احصاء اور تحلیلی ہندسہ

خالد خان یوسفزئی

جامعہ کامسیٹ، اسلام آباد
khalidyousafzai@comsats.edu.pk

۶ اگست ۲۰۲۶

عنوان

دیباچہ viii

میری پہلی کتاب کا دیباچہ x

۱ ابتدائی معلومات ۱
۱.۱ حقیقی اعداد اور حقیقی خط ۱
۱.۲ محدد، خطوط اور بڑھوتری ۱۳
۱.۳ تفاعل ۲۷
۱.۴ ترسیم کی منتقلی ۴۴
۱.۵ تکونیاتی تفاعل ۶۰

۲ حدود اور استمرار ۷۹
۲.۱ تبدیلی کی شرح اور حد ۷۹
۲.۲ حد تلاش کرنے کے قواعد ۹۳
۲.۳ مطلوبہ قیمتیں اور حد کی باضابطہ تعریف ۱۰۴
۲.۴ تصور حد کی توسیع ۱۲۱
۲.۵ استمرار ۱۳۸
۲.۶ مماسی خط ۱۵۴

۳ تفرق ۱۶۷
۳.۱ تفاعل کا تفرق ۱۶۷
۳.۲ قواعد تفرق ۱۸۵
۳.۳ تبدیلی کی شرح ۲۰۲
۳.۴ تکونیاتی تفاعل کا تفرق ۲۱۷
۳.۵ زنجیری قاعدہ ۲۳۵
۳.۶ خفی تفرق اور ناطق قوت نما ۲۴۹
۳.۷ دیگر شرح تبدیلی ۲۶۲

۴ تفرق کا استعمال ۲۷۵
۴.۱ تفاعل کی انتہائی قیمتیں ۲۷۵
۴.۲ مسئلہ اوسط قیمت ۲۸۷
۴.۳ مقامی انتہائی قیمتوں کا یک رتبی تفرقی پرکھ ۳۰۰
۴.۴ y' اور y'' کے ساتھ ترسیم ۳۰۸
۴.۵ $x \to \mp\infty$ پر حد، متقارب اور غالب اجزاء ۳۲۶
۴.۶ بہترین بنانا ۳۴۷
۴.۷ خط بندی اور تفرقات ۳۶۸
۴.۸ ترکیب نیوٹن ۳۸۸

۵ تکمل ۳۹۹
۵.۱ غیر قطعی تکملات ۳۹۹
۵.۲ تفرقی مساوات، ابتدائی قیمت مسئلے، اور ریاضیاتی نمونہ کشی ۴۱۰
۵.۳ تکمل بذریعہ ترکیب بدل۔ زنجیری قاعدہ کا الٹ اطلاق ۴۲۳
۵.۴ اندازہ بذریعہ متناہی مجموعہ ۴۳۳
۵.۵ ریمان مجموعے اور قطعی تکملات ۴۴۹
۵.۶ خصوصیات، رقبہ، اور اوسط قیمت مسئلہ ۴۷۳
۵.۷ بنیادی مسئلہ ۴۸۸
۵.۸ قطعی تکمل میں بدل ۵۰۵
۵.۹ اعدادی تکمل ۵۱۰

۶ تکمل کا استعمال ۵۲۷
۶.۱ منحنیات کے بیچ رقبہ ۵۲۷
۶.۲ ٹکیاں کاٹ کر حجم کی تلاش ۵۴۰
۶.۳ اجسام طواف کے حجم۔ قرص اور چھلا ۵۴۷
۶.۴ نلکی چھلے ۵۶۰
۶.۵ مستوی منحنیات کی لمبائیاں ۵۷۰
۶.۶ سطح طواف کا رقبہ ۵۸۰
۶.۷ معیار اثر اور مرکز کمیت ۵۹۰
۶.۸ کام ۶۰۶
۶.۹ فشار سیال اور قوت سیال ۶۱۸
۶.۱۰ بنیادی نقش اور دیگر نمونی استعمال ۶۲۶

۷ ماورائی تفاعل ۶۳۹
۷.۱ الٹ تفاعل اور ان کے تفرقات ۶۴۰
۷.۲ قدرتی لوگارتھم ۶۵۵
۷.۳ قوت نمائی تفاعل ۶۶۹
۷.۴ a^x اور $\log_a x$ ۶۸۱
۷.۵ افزائش اور تنزل ۶۹۱

۶۴ ۷.۶ قاعدہ لھوپیٹال ۷۰۳
۶۵ ۷.۷ اضافی شرح نمو ۷۱۶
۶۶ ۷.۸ الٹ تکونیاتی تفاعل ۷۲۵
۶۷ ۷.۹ الٹ تکونیاتی تفاعل کے تفرق؛ تکمل ۷۴۰
۶۸ ۷.۱۰ ہذلولی تفاعل ۷۵۴
۶۹ ۷.۱۱ یک رتبی تفرقی مساوات ۷۷۱
۷۰ ۷.۱۲ یولر کی اعدادی ترکیب؛ میدان ڈھلوان ۷۸۸

۷۱ ۸ تکمل کے طریقے ۷۹۷
۷۲ ۸.۱ تکمل کے بنیادی کلیات ۷۹۷
۷۳ ۸.۲ تکمل بالحصص ۸۰۹
۷۴ ۸.۳ جزوی کسر ۸۲۲
۷۵ ۸.۴ تکونیاتی بدل ۸۳۵
۷۶ ۸.۵ جدول تکمل اور کمپیوٹر ۸۴۴
۷۷ ۸.۶ غیر مناسب تکمل ۸۵۸

۷۸ ۹ لامتناہی تسلسل ۸۷۹
۷۹ ۹.۱ اعداد کی ترتیب کی حد ۸۷۹
۸۰ ۹.۲ ترتیب کی حدیں تلاش کرنے کے مسئلے ۸۹۵
۸۱ ۹.۳ سوالات ۹۰۳
۸۲ ۹.۴ لامتناہی تسلسل ۹۰۸
۸۳ ۹.۵ غیر منفی اجزاء والے تسلسل کا تکملی پرکھ ۹۲۴
۸۴ ۹.۶ غیر منفی اجزاء کے تسلسل کے تقابلی پرکھ ۹۳۳
۸۵ ۹.۷ غیر منفی اجزاء کے تسلسل کا تناسبی اور جذری پرکھ ۹۴۲
۸۶ ۹.۸ بدلتا تسلسل، مطلق اور مشروط ارتکاز ۹۵۱
۸۷ ۹.۹ طاقتی تسلسل ۹۶۳
۸۸ ۹.۱۰ ٹیلر اور مکلارن تسلسل ۹۷۸
۸۹ ۹.۱۱ ٹیلر تسلسل کا ارتکاز؛ خلل کے اندازے ۹۸۶
۹۰ ۹.۱۲ طاقتی تسلسل کے استعمال ۱۰۰۲

۹۱ ۱۰ مخروطی حصے، منحنی مقدار معلوم اور قطبی محدد ۱۰۱۹
۹۲ ۱۰.۱ مخروطی حصے اور دو قدری مساواتیں ۱۰۱۹
۹۳ ۱۰.۲ سنک لے لحاظ سے مخروط حصوں کی جماعت بندی ۱۰۳۹
۹۴ ۱۰.۳ دو درجی مساوات اور گھومنا ۱۰۴۷
۹۵ ۱۰.۴ مستوی منحنیات کے مقدار معلوم روپ کا حصول ۱۰۵۸
۹۶ ۱۰.۵ احصاء اور مقدار معلوم منحنیات ۱۰۷۱
۹۷ ۱۰.۶ قطبی محدد ۱۰۸۳
۹۸ ۱۰.۷ قطبی محدد میں ترسیم ۱۰۹۲

۹۹ ۱۰.۸ مخروط حصوں کے قطبی مساوات ۱۱۰۲
۱۰۰ ۱۰.۹ قطبی محدد میں تکمل ۱۱۱۵

۱۰۱ ۱۱ سمتیات اور خلا میں تحلیلی جیومیٹری ۱۱۲۷
۱۰۲ ۱۱.۱ مستوی میں سمتیات ۱۱۲۷
۱۰۳ ۱۱.۲ کارتیسی (مستطیل) محدد اور فضا میں سمتیات ۱۱۴۱
۱۰۴ ۱۱.۳ ضرب نقطہ ۱۱۵۵
۱۰۵ ۱۱.۴ صلیبی ضرب ۱۱۶۷
۱۰۶ ۱۱.۵ فضا میں خطوط اور مستویات ۱۱۷۹
۱۰۷ ۱۱.۶ نلکی اور مربع سطحیں ۱۱۹۱
۱۰۸ ۱۱.۷ نلکی اور کروی محدد ۱۲۰۷

۱۰۹ ۱۲ سمتی قیمت تفاعل اور فضا میں حرکت ۱۲۱۷
۱۱۰ ۱۲.۱ سمتی قیمت تفاعل اور فضائی منحنیات ۱۲۱۷
۱۱۱ ۱۲.۲ گولا کی حرکت کی نمونہ کشی ۱۲۳۸
۱۱۲ ۱۲.۳ لمبائی قوس اور اکائی مماسی سمتیہ $\boldsymbol{T}$ ۱۲۴۶
۱۱۳ ۱۲.۴ انحنا، مروڑ اور TNB چوکھٹ ۱۲۵۴
۱۱۴ ۱۲.۵ فلکی سیاروں اور مصنوعی سیاروں کی حرکت ۱۲۷۴

۱۱۵ ۱۳ کثیر المتغیر تفاعل اور جزوی تفرقات ۱۲۸۷
۱۱۶ ۱۳.۱ کثیر متغیرات کے تفاعل ۱۲۸۷
۱۱۷ ۱۳.۲ حد اور استمرار ۱۳۰۰
۱۱۸ ۱۳.۳ جزوی تفرقات ۱۳۱۳
۱۱۹ ۱۳.۴ تفرق پذیری، خط بندی، اور تفرقات ۱۳۲۹
۱۲۰ ۱۳.۵ زنجیری قاعدہ ۱۳۴۴
۱۲۱ ۱۳.۶ پابند متغیرات کے تفاعل کے جزوی تفرق ۱۳۵۷
۱۲۲ ۱۳.۷ رخی تفرقات، سمتیہ ڈھلوان، اور مماسی سطحیں ۱۳۶۳
۱۲۳ ۱۳.۸ انتہائی قیمتیں اور نقاط زین ۱۳۸۲
۱۲۴ ۱۳.۹ لیگرینج ضاربین ۱۳۹۸
۱۲۵ ۱۳.۱۰ کلیہ ٹیلر ۱۴۱۴

۱۲۶ ۱۴ تکمل بالکثرت ۱۴۲۱
۱۲۷ ۱۴.۱ دوہرا تکملات ۱۴۲۱
۱۲۸ ۱۴.۲ رقبات، معیار اثر، اور مراکز کمیت ۱۴۳۹
۱۲۹ ۱۴.۳ دوہرا تکملات کا قطبی روپ ۱۴۵۳
۱۳۰ ۱۴.۴ کارتیسی محدد میں تہرا تکمل ۱۴۶۳
۱۳۱ ۱۴.۵ تعین بعد میں کمیت اور معیار اثر ۱۴۷۶
۱۳۲ ۱۴.۶ نلکی اور کروی محدد میں تہرا تکمل ۱۴۸۵
۱۳۳ ۱۴.۷ تکملات بالکثرت میں بدل ۱۵۰۳

۱۳۴ ۱۵ سمتی میدان میں تکمل ۱۵۱۷
۱۳۵ ۱۵.۱ لکیری تکمل ۱۵۱۷
۱۳۶ ۱۵.۲ سمتی میدان، کام، دائری بہاؤ، اور بہاؤ ۱۵۲۷
۱۳۷ ۱۵.۳ راہ سے آزادی، تفاعل خفی توانائی، اور بقائی میدان ۱۵۴۲
۱۳۸ ۱۵.۴ مستوی میں مسئلہ گرین ۱۵۵۴
۱۳۹ ۱۵.۵ سطحی رقبہ اور سطحی تکملات ۱۵۷۴
۱۴۰ ۱۵.۶ مقدار معلوم سطحیں ۱۵۹۲
۱۴۱ ۱۵.۷ مسئلہ سٹوکس ۱۶۰۹
۱۴۲ ۱۵.۸ مسئلہ پھیلاؤ اور ایک مربوط نظریہ ۱۶۲۵

۱۴۳ ضمیمے ۱۶۵۸

۱۴۴ ا ریاضیاتی ترغیب ۱۶۵۹

۱۴۵ ب تحدیدی مسائل کے ثبوت ۱۶۶۵

۱۴۶ ج مخلوط اعداد ۱۶۷۱

۱۴۷ د سمسن کا ایک تہائی کا قاعدہ ۱۶۸۷

۱۴۸ ھ کوشی کا مسئلہ اوسط قیمت اور قاعدہ لھوپیٹال ے کا پائیدار روپ ۱۶۸۹

۱۴۹ و کثیر استعمال حدود ۱۶۹۳

۱۵۰ ز جزئیتی تقسیم کا قانون برائے سمتی ضرب ۱۶۹۵

۱۵۱ ح مقاطع اور کریمر کا قاعدہ ۱۶۹۹

۱۵۲ ط مسئلہ یولر اور مسئلہ بڑھوتری ۱۷۱۱

۱۵۳ ي تکملات کا مختصر جدول ۱۷۱۷

۱۵۴ جوابات ۱۷۲۹

۱۵۵ اشاریہ ۱۸۱۰

دیباچہ

یہ کتاب اس امید سے لکھی گئی ہے کہ ایک دن اردو زبان میں انجینئری پڑھائی جائے گی۔ اس کتاب کا مکمل ہونا اس سمت میں ایک اہم قدم ہے۔ طبیعیات کے طلبہ کے لئے بھی یہ کتاب مفید ثابت ہو گی۔

اس کتاب کو Ubuntu استعمال کرتے ہوئے Xelatex میں تشکیل دیا گیا ہے۔ اشکال pgfplots اور gnuplots کی مدد سے بنائے گئے ہیں۔

درج ذیل کتاب کو سامنے رکھتے اس کو لکھا گیا ہے

CalculusandAnalyticGeometry
GeorgeB.Thomas,Jr
RossL.Finney

جبکہ اردو اصطلاحات چننے میں درج ذیل لغت سے استفادہ کیا گیا۔

http:/www.urduenglishdictionary.org
http:/www.nlpd.gov.pk/lughat

آپ سے گزارش ہے کہ اس کتاب کو زیادہ سے زیادہ طلبہ و طالبات تک پہنچائیں اور کتاب میں غلطیوں کی نشاندہی میرے برقی پتہ پر کریں۔ میری تمام کتابوں کی مکمل Xelatex معلومات

https:/www.github.com/khalidyousafzai

سے حاصل کی جا سکتی ہیں جنہیں آپ مکمل اختیار کے ساتھ استعمال کر سکتے ہیں۔ میں امید کرتا ہوں کہ طلبہ و طالبات اس کتاب سے استفادہ ہوں گے۔

خالد خان یوسفزئی

۳۰ مارچ ۲۰۲۰ء

میری پہلی کتاب کا دیباچہ

گزشتہ چند برسوں سے حکومتِ پاکستان اعلیٰ تعلیم کی طرف توجہ دے رہی ہے جس سے ملک کی تاریخ میں پہلی مرتبہ اعلیٰ تعلیمی اداروں میں تحقیق کا رجحان پیدا ہوا ہے۔ امید کی جاتی ہے کہ یہ سلسلہ جاری رہے گا۔

پاکستان میں اعلیٰ تعلیم کا نظام انگریزی زبان میں رائج ہے۔ دنیا میں تحقیقی کام کا بیشتر حصہ انگریزی زبان میں ہی چھپتا ہے۔ انگریزی زبان میں ہر موضوع پر لاتعداد کتابیں پائی جاتی ہیں جن سے طلبہ و طالبات استفادہ کر سکتے ہیں۔

ہمارے ملک میں طلبہ و طالبات کی ایک بہت بڑی تعداد بنیادی تعلیم اردو زبان میں حاصل کرتی ہے۔ ان کے لئے انگریزی زبان میں موجود مواد سے استفادہ کرنا تو ایک طرف، انگریزی زبان از خود ایک رکاوٹ کے طور پر ان کے سامنے آتی ہے۔ یہ طلبہ و طالبات ذہین ہونے کے باوجود آگے بڑھنے اور قوم و ملک کی بھرپور خدمت کرنے کے قابل نہیں رہتے۔ ایسے طلبہ و طالبات کو اردو زبان میں نصاب کی اچھی کتابیں درکار ہیں۔ ہم نے قومی سطح پر ایسا کرنے کی کوئی خاطر خواہ کوشش نہیں کی۔

میں برسوں تک اس صورت حال کی وجہ سے پریشانی کا شکار رہا۔ کچھ کرنے کی نیت رکھنے کے باوجود کچھ نہ کر سکتا تھا۔ میرے لئے اردو میں ایک صفحہ بھی لکھنا ناممکن تھا۔ آخر کار ایک دن میں نے اپنی اس کمزوری کو کتاب نہ لکھنے کا جواز بنانے سے انکار کر دیا اور یوں یہ کتاب وجود میں آئی۔

یہ کتاب اردو زبان میں تعلیم حاصل کرنے والے طلبہ و طالبات کے لئے نہایت آسان اردو میں لکھی گئی ہے۔ کوشش کی گئی ہے کہ اسکول کی سطح پر نصاب میں استعمال تکنیکی الفاظ ہی استعمال کئے جائیں۔ جہاں ایسے الفاظ موجود نہ تھے وہاں روزمرہ میں استعمال ہونے والے الفاظ چنے گئے۔ تکنیکی اصطلاحات کی چنائی کے وقت اس بات کا دہان رکھا گیا کہ ان کا استعمال دیگر مضامین میں بھی ممکن ہو۔

کتاب میں بین الاقوامی نظامِ اکائی استعمال کی گئی ہے۔ اہم متغیرات کی علامتیں وہی رکھی گئی ہیں جو موجودہ نظامِ تعلیم کی نصابی کتابوں میں رائج ہیں۔ یوں اردو میں لکھی اس کتاب اور انگریزی میں اسی مضمون پر لکھی کتاب پڑھنے والے طلبہ و طالبات کو ساتھ کام کرنے میں دشواری نہیں ہو گی۔

یہ کتاب Ubuntu استعمال کرتے ہوئے Xelatex میں تشکیل دی گئی۔ یہ کتاب خطِ جمیل نوری نستعلیق میں لکھی گئی ہے۔

امید کی جاتی ہے کہ یہ کتاب ایک دن خالصتاً اردو زبان میں انجنیئرنگ کی نصابی کتاب کے طور پر استعمال کی جائے گی۔ اردو زبان میں الیکٹریکل انجنیئرنگ کی مکمل نصاب کی طرف یہ پہلا قدم ہے۔

اس کتاب کے پڑھنے والوں سے گزارش کی جاتی ہے کہ اسے زیادہ سے زیادہ طلبہ و طالبات تک پہنچانے میں مدد دیں اور انہیں جہاں اس کتاب میں غلطی نظر آئے وہ اس کی نشاندہی میری برقیاتی پتہ khalidyousafzai@comsats.edu.pk پر کریں۔ میں ان کا نہایت شکر گزار ہوں گا۔

میں یہاں عائشہ فاروق اور ان کے والد فاروق اعظم کا شکریہ ادا کرنا چاہوں گا جنہوں نے اس کتاب کو بار بار پڑھا اور مجھے مجبور کرتے رہے کہ میں اپنی اردو بہتر کروں۔ میں ڈاکٹر نعمان جعفری کا نہایت مشکور ہوں جنہوں نے کتاب کی تکنیکی اصطلاح کرنے میں مدد کی۔ حرا خان اور ان کی والدہ عزرا برلاس نے مل کے کتاب کو درست کرنے میں مدد کی۔ یہاں میں اپنے شاگرد فیصل خان کا بھی شکریہ ادا کرنا چاہوں گا جنہوں نے تکنیکی اصطلاحات چننے میں میری مدد کی۔

میں یہاں کامسیٹ یونیورسٹی اور ہائر ایجوکیشن کمیشن کا شکریہ ادا کرنا چاہتا ہوں جن کی وجہ سے ایسی سرگرمیاں ممکن ہوئیں۔

خالد خان یوسفزئی
۲۸ اکتوبر ۲۰۱۱ء

۰۰۰ باب ۱

۰۰۱ ابتدائی معلومات

۰۰۲ اس باب میں ان معلومات کو پیش کیا گیا ہے جنہیں جانتے ہوئے احصاء کو سمجھا جا سکتا ہے۔

۰۰۳ ۱.۱ حقیقی اعداد اور حقیقی خط

۰۰۴ اس حصہ میں حقیقی اعداد، عدم مساوات، وقفہ اور مطلق قیمتوں پر غور کیا جائے گا۔

۰۰۵ حقیقی اعداد اور حقیقی خط

۰۰۶ احصاء کا بیشتر حصہ حقیقی عددی نظام کے خواص پر مبنی ہے۔ **حقیقی اعداد**[1] وہ اعداد ہیں جنہیں اعشاری صورت میں لکھنا ممکن ہو، مثلاً:

$$-\frac{3}{4} = -0.75000\cdots$$
$$\frac{1}{3} = 0.33333\cdots$$
$$\sqrt{2} = 1.4142\cdots$$

۰۰۷ جہاں ہندسوں کا ہمیشہ تک چلتے رہنے کو نقطوں $\cdots$ سے ظاہر کیا گیا ہے۔

۰۰۸ حقیقی اعداد کو لکیر پر بطور نقطے ظاہر کیا جا سکتا ہے۔ اس لکیر کو **حقیقی خط**[2] کہتے ہیں۔

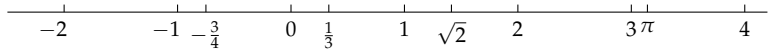

۰۰۹

---

[1] realnumbers
[2] realline

$\Re$ کی علامت حقیقی عددی نظام یا، اس کے مترادف، حقیقی خط کو ظاہر کرتی ہے۔

حقیقی اعداد کے خواص

حقیقی اعداد کے خواص تین گروہوں میں تقسیم کیے جا سکتے ہیں: الجبرائی خواص، رتبی خواص، اور کاملیت۔ الجبرائی خواص کہتے ہیں کہ حساب کے عمومی قواعد کے تحت حقیقی اعداد کو جمع، تفریق، ضرب اور (ماسوائے 0 سے) تقسیم کرتے ہوئے مزید حقیقی اعداد پیدا کیے جا سکتے ہیں۔ آپ کبھی بھی 0 سے تقسیم نہیں کر سکتے۔

قواعد برائے عدم مساوات

اگر a ، b ، اور c حقیقی اعداد ہوں، تب درج ذیل ہوں گے۔

۱. $a + c < b + c \impliedby a < b$

۲. $a - c < b - c \impliedby a < b$

۳. $ac < bc \impliedby a < b$ اور $c > 0$

۴. $bc < ac \impliedby a < b$ اور $c < 0$ خصوصی صورت: $-b < -a \impliedby a < b$

۵. $\frac{1}{a} > 0 \impliedby a > 0$

۶. اگر a اور b دونوں مثبت یا دونوں منفی ہوں تب درج ذیل ہو گا۔ $\frac{1}{b} < \frac{1}{a} \impliedby a < b$

درج بالا میں $a + c < b + c \impliedby a < b$ کہتا ہے کہ اگر a کی قیمت b کی قیمت سے کم ہو تب اس سے آپ اخذ کر سکتے ہیں کہ $a + c$ کی قیمت $b + c$ کی قیمت سے کم ہو گی۔ دھیان رہے کہ عدم مساوات کو مثبت عدد سے ضرب دینے سے عدم مساوات اپنی صورت برقرار رکھتی ہے جبکہ اس کو منفی عدد سے ضرب دینے سے عدم مساوات کی علامت الٹ ہو جاتی ہے۔

حقیقی عددی نظام کی کاملیت زیادہ گہری خاصیت ہے جس کی درست تعریف مشکل ہے۔ ہم کہہ سکتے ہیں کہ حقیقی اعداد کی تعداد اتنی ہے کہ یہ حقیقی خط کو مکمل کر پاتے ہیں، یعنی، حقیقی خط پر کوئی ''سوراخ'' یا ''درز'' نہیں پایا جاتا۔ احصاء کے کئی مسئلوں کا دارومدار حقیقی عددی نظام کے مکمل ہونے پر ہے۔ کاملیت کا موضوع زیادہ اعلیٰ حساب کا حصہ ہے اور اس پر مزید بحث نہیں کی جائے گی۔

$\Re$ کا ذیلی سلسلہ

ہم حقیقی اعداد کے تین خصوصی ذیلی **سلسلوں**[۳] کی وضاحت کرنا چاہتے ہیں۔

۱. **قدرتی اعداد**[۴]، یعنی $1 ، 2 ، 3 ، 4 ، \cdots$

۲. **عدد صحیح**، یعنی $0 ، \mp 1 ، \mp 2 ، \mp 3 ، \cdots$

---

[۳] sets
[۴] naturalnumbers

۳. **ناطق اعداد**[۵]، یعنی وہ اعداد جنہیں کسر $\frac{m}{n}$ کی صورت میں لکھنا ممکن ہو جہاں m اور n عدد صحیح ہیں اور n غیر صفر $n \neq 0$ ہے۔ اس کی مثالیں درج ذیل ہیں۔

$$\frac{1}{3}, \quad -\frac{4}{9}, \quad \frac{200}{13}, \quad 57 = \frac{57}{1}$$

ناطق اعداد کو اعشاری روپ میں لکھتے ہوئے حقیقی اعداد کی دو صورتیں ممکن ہیں۔

(الف) مختتم (جو لامتناہی صفروں پر اختتام ہوتی ہے)، مثلاً

$$\frac{3}{4} = 0.75000\cdots = 0.75$$

(ب) دہراتا (جو ایسے ہندسوں پر اختتام ہوتا ہے جو بار بار دہراتے رہتے ہیں)، مثلاً

$$\frac{23}{11} = 2.090909\cdots = 2.\overline{09}$$

ناطق اعداد کا سلسلہ حقیقی اعداد کے الجبرائی خواص اور رتبی خواص رکھتے ہیں البتہ یہ کاملیت کی خاصیت نہیں رکھتے، مثلاً، ایسا کوئی ناطق عدد نہیں پایا جاتا جس کا مربع 2 ہو۔ یوں ناطق خط میں اس نقطے پر "سوراخ" پایا جاتا ہے جہاں $\sqrt{2}$ کو ہونا چاہیے تھا۔

وہ حقیقی اعداد جو ناطق نہ ہوں **غیر ناطق اعداد**[۶] کہلاتے ہیں۔ غیر ناطق اعداد کو اعشاری روپ میں لکھنے سے نامختتم اور ناہی دہراتی صورت ملتی ہے۔ ناطق اعداد کی مثالیں π ، $\sqrt{2}$ ، اور $\log_{10} 3$ ہیں۔

وقفہ

حقیقی خط کا ایسا ذیلی سلسلہ جس میں کم سے کم دو اعداد پائے جاتے ہوں اور جس میں ہر دو ارکان کے بیچ تمام حقیقی اعداد بھی شامل ہوں **وقفہ**[۷] کہلاتا ہے۔ مثال کے طور پر تمام حقیقی اعداد x کا سلسلہ جہاں $x > 4$ ہو وقفہ کہلاتا ہے۔ اسی طرح تمام x کا سلسلہ جہاں $-4 \leq x \leq 8$ ہو بھی وقفہ کہلاتا ہے۔ اس کے برعکس تمام غیر صفر حقیقی اعداد کو وقفہ نہیں کہہ سکتے؛ مثال کے طور پر، چونکہ 0 اس کا حصہ نہیں لہٰذا اس سلسلہ میں -1 اور 1 کے بیچ تمام اعداد شامل نہیں۔

جیومیٹریائی نقطہ نظر سے، حقیقی خط کو یا اس پر قطعہ یا شعاع کو وقفہ ظاہر کرتا ہے۔ خطی قطعہ **متناہی وقفہ**[۸] کہلاتا ہے جبکہ شعاع یا پورا حقیقی خط **لامتناہی وقفہ**[۹] کہلائے گا۔

اگر متناہی وقفے کے دونوں سر بھی وقفے کا حصہ ہوں تب یہ **بند**[۱۰] کہلائے گا، اگر اس کا ایک سر وقفے کا حصہ ہو تب یہ **نصف کھلا**[۱۱] کہلاتا ہے اور اگر دونوں سر وقفے کا حصہ نہ ہوں تب یہ **کھلا**[۱۲] کہلاتا ہے۔ وقفے کے سروں کو **سرحدی نقطے**[۱۳] بھی کہتے ہیں۔ یہ وقفے کی **سرحد**[۱۴] ہیں۔ وقفے کے باقی نقطوں کو **اندرونی**

---

[۵] rationalnumbers
[۶] irrationalnumbers
[۷] interval
[۸] finiteinterval
[۹] infiniteinterval
[۱۰] closed
[۱۱] half-open
[۱۲] open
[۱۳] boundarypoints
[۱۴] boundary

جدول ۱.۱: وقفوں کی قسمیں

	علامت	سلسلہ	ترسیم
متناہی	(a,b)	$\{x\|a<x<b\}$	
	$[a,b]$	$\{x\|a\le x\le b\}$	
	$[a,b)$	$\{x\|a\le x<b\}$	
	$(a,b]$	$\{x\|a<x\le b\}$	
لامتناہی	(a,∞)	$\{x\|x>a\}$	
	$[a,\infty)$	$\{x\|x\ge a\}$	
	$(-\infty,b)$	$\{x\|x<b\}$	
	$(-\infty,b]$	$\{x\|x\le b\}$	
	$(-\infty,\infty)$	$\mathbb{R}$	

۲۵۱ **نقطے**[۱۵] کہتے ہیں۔ تمام اندرونی نقطوں کو وقفہ کا **اندرون**[۱۶] کہتے ہیں۔

۲۵۲ وقفوں کی قسموں کو جدول ۱.۱ میں پیش کیا گیا ہے۔

۲۵۳ **عدم مساوات کا حل**

۲۵۴ x پر مبنی عدم مساوات کو حل کرتے ہوئے اعداد کا وقفہ یا وقفے تلاش کرنے کو عدم مساوات کا حل کہتے ہیں۔

۲۵۵ مثال ۱.۱:

۲۵۶ ۱) $2x-4<x+1$ ۲۵۷ ۲) $-\frac{x}{3}<x-1$ ۲۵۸ ۳) $\frac{2}{x-1}\ge 4$

۲۵۹ حل:

---

[۱۵] interiorpoints
[۱۶] interior

۱)

$$2x - 4 < x + 1$$

$$2x < x + 5$$ دونوں ہاتھ 4 جمع کریں

$$x < 5$$ دونوں ہاتھ سے x منفی کریں



حل کا سلسلہ (یعنی سلسلہ حل)، وقفہ $(-\infty, 5)$ ہے۔

۲)

$$-\frac{x}{3} < x - 1$$

$$-x < 3x - 3$$ دونوں ہاتھ کو 3 سے ضرب دیں

$$0 < 4x - 3$$ دونوں ہاتھ کے ساتھ x جمع کریں

$$3 < 4x$$ دونوں ہاتھ کے ساتھ 3 جمع کریں

$$\frac{3}{4} < x$$ دونوں ہاتھ کو 3 سے تقسیم کریں

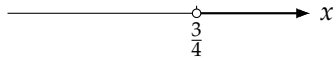

وقفہ $(\frac{3}{4}, \infty)$، سلسلہ حل ہے۔

۳) عدم مساوات $\frac{2}{x-1} \geq 4$ صرف $x > 1$ کی صورت میں درست ہو گی چونکہ $x < 1$ کی صورت میں بایاں ہاتھ منفی ہو گا اور $x = 1$ پر بایاں ہاتھ غیر متعین ہے۔ عدم مساوات کے دونوں ہاتھ کو $x - 1$ سے ضرب دیتے ہوئے عدم مساوات برقرار رہتی ہے۔

$$\frac{2}{x-1} \geq 4$$

$$2 \geq 4x - 4$$ دونوں ہاتھ کو $x - 1$ سے ضرب دیں

$$6 \geq 4x$$ دونوں ہاتھ کے ساتھ 4 جمع کریں

$$\frac{3}{2} \geq x$$ دونوں ہاتھ کو 4 سے تقسیم کریں

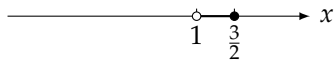

نصف کھلا وقفہ $(1, \frac{3}{2}]$، سلسلہ حل ہے۔

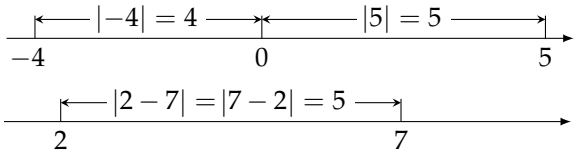

شکل ۱.۱: مطلق قیمت حقیقی خط پر دو نقطوں کے بیچ فاصلہ دیتا ہے۔

□

مطلق قیمت

عدد x کی **مطلق قیمت**[۱۷] جس کو $|x|$ سے ظاہر کیا جاتا ہے کی تعریف درج ذیل ہے۔

$$|x| = \begin{cases} x & x \geq 0 \\ -x & x < 0 \end{cases}$$

مثال ۱.۲: $|0.88| = 0.88, \quad |0| = 0, \quad |-13| = -(-13) = 13, \quad |-|a|| = |a|$ □

دھیان رہے کہ ہر حقیقی عدد کی مطلق قیمت غیر منفی $|x| \geq$ ہو گی اور صرف $x = 0$ کی صورت میں $|x| = 0$ ہو گا۔ چونکہ a کے غیر منفی جذر کو $\sqrt{a}$ سے ظاہر کیا جاتا ہے لہٰذا $|x|$ کی متبادل تعریف درج ذیل لی جا سکتی ہے۔

$$|x| = \sqrt{x^2}$$

آپ $\sqrt{a^2} = |a|$ لکھ سکتے ہیں جبکہ $\sqrt{a^2} = a$ صرف مثبت a کی صورت میں درست ہو گا۔

جیومیٹریائی طور پر حقیقی خط پر مبدا 0 سے x تک فاصلے کو $|x|$ ظاہر کرتی ہے۔ زیادہ عمومی طور پر (شکل ۱.۱)

$$|x - y| = x \text{ اور } y \text{ کے بیچ فاصلہ}$$

ہو گا۔

مطلق قیمت کے خواص درج ذیل ہیں۔

۱. $|-a| = |a|$ کسی بھی عدد اور نفی عدد کی مطلق قیمتیں ایک سی ہوں گی۔

۲. $|ab| = |a||b|$ حاصل ضرب کی مطلق قیمت، مطلق قیمتوں کا حاصل ضرب ہو گا۔

۳. $\left|\frac{a}{b}\right| = \frac{|a|}{|b|}$ حاصل تقسیم کی مطلق قیمت، مطلق قیمتوں کا حاصل تقسیم ہو گا۔

---

[۱۷] absolutevalue

۴. $|a+b| \leq |a|+|b|$ دو اعداد کے مجموعے کی مطلق قیمت دونوں کی مطلق قیمتوں کے مجموعہ سے کم یا اس کے برابر ہو گی۔ اس حقیقت کو **تکونی عدم مساوات** کہتے ہیں۔

اگر a اور b کی علامتیں مختلف ہوں تب $|a+b|$ کی قیمت $|a|+|b|$ کی قیمت سے کم ہو گی۔ اس کے علاوہ ہر صورت $|a+b| = |a|+|b|$ ہو گا۔

مثال ۱.۳:

$$\begin{aligned} |-2+6| &= |4| = 4 < |-2|+|6| = 8 \\ |2+6| &= |8| = |2|+|6| \\ |-2-6| &= |-8| = 8 = |-2|+|-6| \end{aligned}$$

□

مطلق کی علامت قوسین کی طرح کردار ادا کرتی ہے۔ مطلق کی علامت کے اندر جمع، منفی وغیرہ مکمل کرنے کے بعد مطلق قیمت حاصل کی جاتی ہے۔

مثال ۱.۴: مساوات $|2x-1| = 11$ کو حل کریں۔

حل: اس مساوات کے تحت $2x-1 = \mp 11$ ہو سکتا ہے لہٰذا اس کے دو ممکن جوابات ہیں جو مطلق کی علامت کے بغیر دو مساوات سے حاصل کیے جاتے ہیں۔

$$\begin{aligned} 2x-1 &= 11 & 2x-1 &= -11 \\ 2x &= 12 & 2x &= -10 \\ x &= 6 & x &= -5 \end{aligned}$$

یوں $|2x-1| = 11$ کے درکار حل $x = 6$ اور $x = -5$ ہے۔ □

مطلق قیمت والی عدم مساوات

عدم مساوات $|a| < D$ کہتی ہے کہ مبدا 0 سے a تک فاصلہ D سے کم ہے۔ یوں D اور $-D$ کے بیچ a پایا جائے گا۔

مطلق قیمتیں اور وقفے اگر D کوئی مثبت عدد ہو، تب درج ذیل ہو گا۔

$$|a| < D \iff -D < a < D \tag{۱}$$

$$|a| \leq D \iff -D \leq a \leq D \tag{۲}$$

مثال ۱.۵: عدم مساوات $|x-3| < 7$ کو حل کریں اور سلسلہ حل کو حقیقی خط پر ترسیم کریں۔

۲۹۸ حل:

$$
\begin{aligned}
|x-3| &< 7 \\
-7 < x-3 &< 7 && \text{مساوات ۱} \\
-7+3 < x &< 7+3 && \text{دونوں حصوں کے ساتھ 3 جمع کریں} \\
-4 < x &< 10
\end{aligned}
$$

۲۹۹ سلسلہ حل، کھلا وقفہ $(-4, 10)$ ہے۔

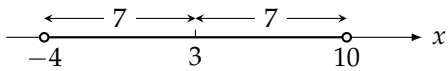

۳۰۰

۳۰۱ □

۳۰۲ مثال ۱.۶: عدم مساوات $\left|3-\frac{2}{x}\right| < 1$ حل کریں۔

۳۰۳ حل:

$$
\begin{aligned}
\left|3-\frac{2}{x}\right| < 1 \iff -1 < 3-\frac{2}{x} &< 1 && \text{مساوات ۱} \\
-4 < -\frac{2}{x} &< -2 && \text{3 منفی کریں} \\
2 > \frac{1}{x} &> 1 && -\tfrac{1}{2} \text{ سے ضرب دیں} \\
\frac{1}{2} < x &< 1 && \text{معکوس لیں}
\end{aligned}
$$

۳۰۴ اس مثال میں عدم مساوات پر مختلف حسابی اعمال کا اطلاق کیا گیا۔ آپ نے دیکھا کہ منفی عدد سے ضرب دینے سے عدم مساوات الٹ ہو جاتی ہے۔ اسی طرح اگر
۳۰۵ دونوں ہاتھ مثبت ہوں تب معکوس لینے سے عدم مساوات الٹ ہوتی ہے۔ اصل عدم مساوات اس صورت مطمئن ہو گی جب $\frac{1}{2} < x < 1$ ہو۔ سلسلہ
۳۰۶ حل، کھلا وقفہ $\left(\frac{1}{2}, 1\right)$ ہے۔ □

۳۰۷ مثال ۱.۷: درج ذیل عدم مساوات حل کریں۔ سلسلہ حل کو ترسیم کریں۔

(الف) $|2x-5| \le 1$ (ب) $|2x-5| \ge 1$

۳۰۸ حل: (الف)

$$
\begin{aligned}
|2x-5| &\le 1 \\
-1 \le 2x-5 &\le 1 && \text{مساوات ۲} \\
4 \le 2x &\le 6 && \text{5 جمع} \\
2 \le x &\le 3 && \text{2 تقسیم}
\end{aligned}
$$

سلسلہ حل، بند وقفہ $[2,3]$ ہے۔



(ب)

$$|2x-5| \geq 1$$

$2x-5 \geq 1$	$-(2x-5) \geq 1$
$2x \geq 6$	$2x-5 \leq -1$
$x \geq 3$	$2x \leq 4$
	$x \leq 2$

سلسلہ حل $(-\infty,2] \cup [3,\infty)$ ہے۔

□

درج بالا مثال کے دوسرے سلسلہ حل میں وقفوں کے **اشتراک**[۱۸] کی علامت $\cup$ استعمال کی گئی ہے۔ دو سلسلوں کے اشتراک میں ایک عدد اس صورت پایا جاتا ہے جب یہ عدد کسی ایک یا دونوں سلسلوں میں پایا جاتا ہو۔ اسی طرح ہم **تقاطع**[۱۹] کی علامت $\cap$ بھی استعمال کی جاتی ہے۔ دو سلسلوں کے تقاطع میں ایک عدد اس صورت پایا جاتا ہے جب یہ عدد دونوں سلسلوں میں پایا جاتا ہو۔ مثال کے طور پر $[1,3) \cap [2,4] = [2,3)$ ہو گا۔

سوالات

اعشاری روپ

سوال ۱.۱: عدد $\frac{1}{9}$ کو دہراتے ہندسوں کے روپ میں لکھیں جہاں دہراتے ہندسوں کے اوپر لکیر کھینچی گئی ہو۔ اسی طرح $\frac{2}{9}$ ، $\frac{3}{9}$ اور $\frac{8}{9}$ کو بھی اعشاری روپ میں لکھیں۔

سوال ۱.۲: $\frac{1}{11}$ کو اعشاری روپ میں لکھیں۔ دہراتے ہندسوں کے اوپر لکیر کھینچیں۔ $\frac{2}{11}$ ، $\frac{3}{11}$ اور $\frac{9}{11}$ کو بھی اعشاری روپ میں لکھیں۔

عدم مساوات

سوال ۱.۳: اگر $2 < x < 6$ ہو تب درج ذیل میں کون سے حسابی فقرے x کے لئے لازماً درست ہیں اور کون سے ضروری نہیں کہ درست ہوں۔

---

[۱۸] union
[۱۹] intersection

ا $0 < x < 4$ ب $0 < x - 2 < 4$ ج $1 < \frac{x}{2} < 3$

د $\frac{1}{6} < \frac{1}{x} < \frac{1}{2}$ ھ $1 < \frac{6}{x} < 3$

و $|x - 4| < 2$ ز $-6 < -x < 2$ ح $-6 < -x < -2$

سوال ۱.۴: اگر $-1 < y - 5 < 1$ ہو تب درج ذیل میں سے کون سے حسابی فقرے y کے لئے لازماً درست ہیں اور کون سے ضروری نہیں کہ درست ہوں۔

ا $4 < y < 6$ ب $-6 < y < -4$ ج $y > 4$

د $y < 6$ ھ $0 < y - 4 < 2$ و $2 < \frac{y}{2} < 3$

ز $\frac{1}{6} < \frac{1}{y} < \frac{1}{4}$ ح $|y - 5| < 1$

عدم مساوات حل کرتے ہوئے سلسلہ حل کو ترسیم کریں۔

سوال ۱.۵: $-2x > 4$

سوال ۱.۶: $8 - 3x \geq 5$

سوال ۱.۷: $5x - 3 \leq 7 - 3x$

سوال ۱.۸: $3(2 - x) > 2(3 + x)$

سوال ۱.۹: $2x - \frac{1}{2} \geq 7x + \frac{7}{6}$

سوال ۱.۱۰: $\frac{6-x}{4} < \frac{3x-4}{2}$

سوال ۱.۱۱: $\frac{4}{5}(x - 2) < \frac{1}{3}(x - 6)$

سوال ۱.۱۲: $-\frac{x+5}{2} \leq \frac{12+3x}{4}$

مطلق قیمت

سوال ۱.۱۳ تا سوال ۱.۱۸ میں دیے مساوات حل کریں۔

سوال ۱.۱۳: $|y| = 3$

سوال ۱.۱۴: $|y - 3| = 7$

سوال ۱.۱۵: $|2t + 5| = 4$

سوال ۱.۱۶: $|1 - t| = 1$

سوال ۱.۱۷: $|8 - 3s| = \frac{9}{2}$

سوال ۱.۱۸: $\left|\frac{s}{2} - 1\right| = 1$

سوال ۱.۱۹ تا سوال ۱.۳۴ میں دیے عدم مساوات حل کریں۔ سلسلہ حل کو وقفوں یا وقفوں کے اشتراک کی صورت میں لکھیں۔ سلسلہ حل کو ترسیم کریں

سوال ۱.۱۹: $|x| < 2$

سوال ۱.۲۰: $|x| \leq 2$

سوال ۱.۲۱: $|t-1| \leq 3$

سوال ۱.۲۲: $|t+2| < 1$

سوال ۱.۲۳: $|3y-7| < 4$

سوال ۱.۲۴: $|2y+5| < 1$

سوال ۱.۲۵: $\left|\frac{z}{5}-1\right| \leq 1$

سوال ۱.۲۶: $\left|\frac{3}{2}z-1\right| \leq 2$

سوال ۱.۲۷: $\left|3-\frac{1}{x}\right| < \frac{1}{2}$

سوال ۱.۲۸: $\left|\frac{2}{x}-4\right| < 3$

سوال ۱.۲۹: $|2s| \geq 4$

سوال ۱.۳۰: $|s+3| \geq \frac{1}{2}$

سوال ۱.۳۱: $|1-x| > 1$

سوال ۱.۳۲: $|2-3x| > 5$

سوال ۱.۳۳: $\left|\frac{r+1}{2}\right| \geq 1$

سوال ۱.۳۴: $\left|\frac{3}{5}r-1\right| > \frac{2}{5}$

دو درجی عدم مساوات

سوال ۱.۳۵ تا سوال ۱.۴۲ میں دیے دو درجی عدم مساوات حل کرتے ہوئے سلسلہ حل کو ترسیم کریں اور اس کو وقفوں کے اشتراک کی صورت میں لکھیں۔ جہاں ضرورت ہو وہاں $\sqrt{a^2} = |a|$ کا استعمال کریں۔

سوال ۱.۳۵: $x^2 < 2$

سوال ۱.۳۶: $4 \leq x^2$

سوال ۱.۳۷: $4 < x^2 < 9$

سوال ۱.۳۸: $\frac{1}{9} < x^2 < \frac{1}{4}$

سوال ۱.۳۹: $(x-1)^2 < 4$

سوال ۱.۴۰: $(x+3)^2 < 2$

سوال ۱.۴۱: $x^2 - x < 0$

سوال ۱.۴۲: $x^2 - x - 2 \geq 0$

نظریہ اور مثالیں

سوال ۱.۴۳: اس غلط فہمی میں مبتلا نہ ہوں کہ $|-a| = a$ ہو گا۔ کس حقیقی عدد a کے لئے ایسا درست ہے اور کس کے لئے یہ درست نہیں ہے۔

سوال ۱.۴۴: مساوات $|x-1| = 1-x$ کو حل کریں۔

سوال ۱.۴۵: تکونی عدم مساوات کا ثبوت۔ $|a+b| = (a+b)^2$ سے شروع کرتے ہوئے تکونی عدم مساوات کو درج ذیل طریقہ سے ثابت کریں۔

$$\begin{aligned}
|a+b|^2 &= (a+b)^2 \\
&= a^2 + 2ab + b^2 \\
&\leq a^2 + 2|a||b| + b^2 \\
&\leq |a|^2 + 2|a||b| + |b|^2 \\
&= (|a| + |b|)^2 \\
|a+b| &\leq |a| + |b|
\end{aligned}$$

سوال ۱.۴۶: ثابت کریں کہ کسی بھی اعداد a اور b کے لئے $|ab| = |a||b|$ ہو گا۔

سوال ۱.۴۷: اگر $|x| \leq 3$ اور $x > -\frac{1}{2}$ ہوں تب x کے بارے میں کیا کہا جا سکتا ہے؟

سوال ۱.۴۸: عدم مساوات $|x| + |y| \leq 1$ کو ترسیم کریں۔

سوال ۱.۴۹: (الف) $f(x) = \frac{x}{2}$ اور $g(x) = 1 + \frac{4}{x}$ کو ایک جگہ ترسیم کرتے ہوئے x کی وہ قیمتیں تلاش کریں جن پر $\frac{x}{2} > 1 + \frac{4}{x}$ ہو گا۔

(ب) ترسیم سے حاصل نتیجہ کو تحلیلی طور پر دوبارہ ثابت کریں۔

سوال ۱.۵۰: (الف) تفاعل $f(x) = \frac{3}{x-1}$ اور $g(x) = \frac{2}{x+1}$ کو ایک جگہ ترسیم کرتے ہوئے x کی وہ قیمتیں تلاش کریں جن پر $\frac{3}{x-1} < \frac{2}{x+1}$ ہو گا۔

(ب) ترسیم سے حاصل نتیجہ کو تحلیلی طور پر ثابت کریں۔



شکل ۱.۲: کارتیسی محدد

۱.۲ محدد، خطوط اور بڑھوتری

اس حصہ میں محدد اور خطوط پر نظر ثانی کی جائے گی اور اضافے کی تصور پر بھی غور کیا جائے گا۔

مستوی میں کارتیسی محدد

مستوی میں دو حقیقی قائمہ خطوط شکل ۱.۲ میں دکھائے گئے ہیں جو ایک دوسرے کو 0 پر قطع کرتے ہیں۔ ان خطوط کو مستوی میں **محددی محور**[20] کہتے ہیں۔ افقی x محور پر اعداد کو x سے ظاہر کیا جاتا ہے جو دائیں رخ بڑھتے ہیں۔ انتصابی y محور پر اعداد کو y سے ظاہر کیا جاتا ہے اور یہ اعداد اوپر رخ (انتصاباً) بڑھتے ہیں۔ وہ نقطہ جس پر x اور y دونوں 0 ہوں محددی نظام کا **مبدا**[21] کہلاتا ہے جس کو عموماً حرف M یا O سے ظاہر کیا جاتا ہے۔

مستوی میں نقطہ P سے دونوں محور پر قائمہ خطوط کھینچے جا سکتے ہیں۔ اگر P سے x محور پر قائمہ خط، x محور کو a پر قطع کرتا ہو تب P کا x **محدد**[22] a ہو گا۔ اسی طرح اگر P سے y محور پر قائمہ خط، y محور کو b پر قطع کرتا ہو تب P کا y **محدد**[23] b ہو گا۔ مرتب جوڑی (a,b) کو نقطے کی **محددی جوڑی**[24] کہتے ہیں۔ x محور پر ہر محددی جوڑی کا y محدد 0 ہو گا جبکہ y محور پر ہر محددی جوڑی کا x محدد 0 ہو گا۔ محددی نظام کا مبدا نقطہ $(0,0)$ ہو گا۔

محور x کو مبدا دو حصوں میں تقسیم کرتا ہے۔ مبدا کے دائیں جانب **مثبت** x **محور**[25] اور مبدا کے بائیں جانب **منفی** x **محور**[26] پایا جاتا ہے۔ اسی طرح محور

---

[20] coordinateaxis
[21] origin
[22] x-coordinate
[23] y-coordinate
[24] coordinatepair
[25] positivex-axis
[26] negativex-axis

y کو بھی مبدا **مثبت** y **محور** اور **منفی** y **محور** میں تقسیم کرتا ہے۔ محدد x اور y مستوی کو چار **ربعات**[۲۷] میں تقسیم کرتے ہیں جو (گھڑی کے الٹ رخ چلتے ہوئے) ربع اول، ربع دوم، ربع سوم اور ربع چہارم کہلاتے ہیں (شکل ۱.۲)۔

پیما

ایسی ترسیم، مثلاً رفتار بالمقابل وقت، جس کے دو متغیرات کی اکائیاں مختلف ہوں میں دونوں محور پر متغیر کی اکائی ایک سی رکھنے کی کوئی ضرورت نہیں۔ یوں رفتار بالمقابل وقت کی ترسیم میں محور وقت پر ایک سنٹی میٹر کا فاصلہ ایک سیکنڈ کو ظاہر کر سکتا ہے جبکہ رفتار کے محور پر ایک سنٹی میٹر کا فاصلہ $25\,\mathrm{m\,s^{-1}}$ کی رفتار کو ظاہر کر سکتا ہے۔

اس کے برعکس ایسے متغیرات کی ترسیم جو غیر طبعی پیمائشوں کو ظاہر کرتی ہو یا ایسی ترسیم جن میں اشکال کا معائنہ کرنا مقصد ہو، ہم دونوں محور کا **تناسب پہلو**[۲۸] ایک سا رکھتے ہیں لہٰذا دونوں محور پر پیمانہ ایک سا ہو گا۔

بڑھوتری اور فاصلہ

ایک نقطے سے دوسرے نقطے تک حرکت کرنے سے محدد میں کل تبدیلی کو **بڑھوتری**[۲۹] کہتے ہیں۔ اختتامی محدد سے ابتدائی محدد منفی کرنے سے بڑھوتری حاصل ہو گی۔

مثال ۱.۸: نقطہ $A(4,-3)$ سے نقطہ $B(2,5)$ منتقل ہونے سے بڑھوتری x اور بڑھوتری y درج ذیل ہوں گی (شکل ۱.۳)۔

$$\Delta x = 2 - 4 = 2, \quad \Delta y = 5 - (-3) = 8$$

□

تعریف: اگر متغیر x کی ابتدائی قیمت x_1 اور اختتامی قیمت x_2 ہو تب x کی بڑھوتری درج ذیل ہو گی۔

$$\Delta x = x_2 - x_1$$

□

مثال ۱.۹: شکل ۱.۳ میں ابتدائی نقطہ $C(5,6)$ اور اختتامی نقطہ $D(5,1)$ ہے۔ بڑھوتری تلاش کریں۔

حل: $\Delta x = 5 - 5 = 0, \quad \Delta y = 1 - 6 = -5$ □

مستوی میں نقطوں کے بیچ کا فاصلہ، مسئلہ فیثاغورث کی مدد سے حاصل کیا جاتا ہے۔

مستوی میں نقطوں کے بیچ فاصلے کا کلیہ نقطہ $P(x_1, y_1)$ اور نقطہ $Q(x_2, y_2)$ کے بیچ فاصلہ درج ذیل ہو گا (شکل ۱.۴)۔

$$d = \sqrt{(\Delta x)^2 + (\Delta y)^2} = \sqrt{(x_2 - x_1)^2 + (y_2 - y_1)^2}$$

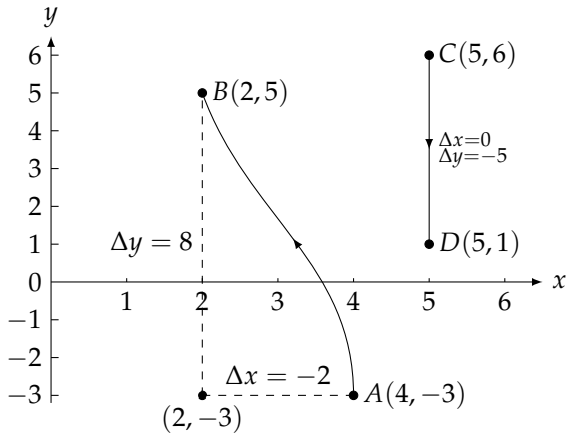

شکل ۱.۳: محددی بڑھوتری مثبت، منفی اور صفر ہو سکتی ہیں

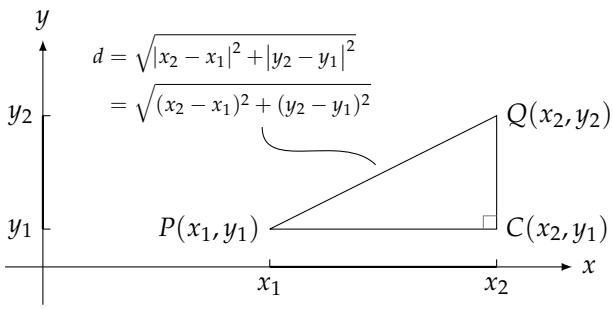

شکل ۱.۴: دو نقطوں کے بیچ فاصلہ (مسئلہ فیثاغورث)

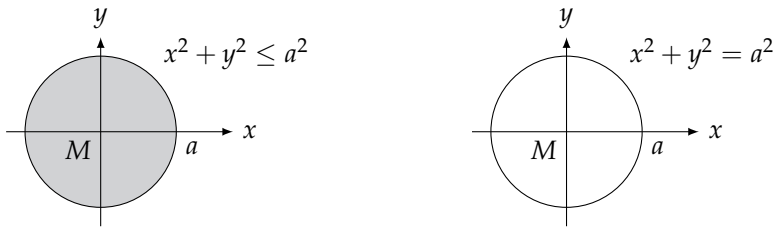

(ب)عدم مساوات کی ترسیم (ا)مساوات کی ترسیم

شکل ۱.۵: مساوات اور عدم مساوات کی ترسیم (مثال ۱.۱۱)

مثال ۱.۱۰: (الف) $P(-1,2)$ اور $Q(3,4)$ کے بیچ فاصلہ درج ذیل ہو گا۔

$$\sqrt{(3-(-1))^2+(4-2)^2} = \sqrt{(4)^2+(2)^2}\sqrt{20} = \sqrt{4\cdot 5} = 2\sqrt{5}$$

(ب) مبدا سے $P(x,y)$ تک فاصلہ درج ذیل ہو گا۔

$$\sqrt{(x-0)^2+(y-0)^2} = \sqrt{x^2+y^2}$$

□

ترسیم

متغیرات x اور y پر مبنی مساوات یا عدم مساوات کی ترسیم سے مراد ان تمام نقطوں $P(x,y)$ کا سلسلہ ہے جو اس مساوات یا عدم مساوات کو مطمئن کرتے ہوں۔

مثال ۱.۱۱: دائرے جن کا مرکز مبدا پر ہو

(الف) $a > 0$ کی صورت میں مساوات $x^2 + y^2 = a^2$ ان تمام نقطوں $P(x,y)$ کو ظاہر کرتی ہے جن کا مبدا سے فاصلہ $\sqrt{x^2+y^2} = \sqrt{a^2} = a$ ہو۔ یہ نقطے مبدا کے گرد رداس a کے دائرے پر پائے جاتے ہیں۔ یہ دائرہ مساوات $x^2 + y^2 = a^2$ کی ترسیم ہے (شکل ۱.۵)۔

(ب) عدم مساوات $x^2 + y^2 \leq a^2$ کو مطمئن کرتے ہوئے نقطوں (x,y) کا مبدا سے فاصلہ $\leq a$ ہے۔ یوں مبدا کو مرکز ٹھہراتے ہوئے رداس a کا دائرہ اور اس کا اندرون اس عدم مساوات کی ترسیم ہوں گی (شکل ۱.۵)۔ □

اکائی رداس کا دائرہ جس کا مرکز مبدا ہو کو **اکائی دائرہ**[۳۰] کہتے ہیں۔

---

[۲۷] quadrants
[۲۸] aspectratio
[۲۹] increments
[۳۰] unitcircle

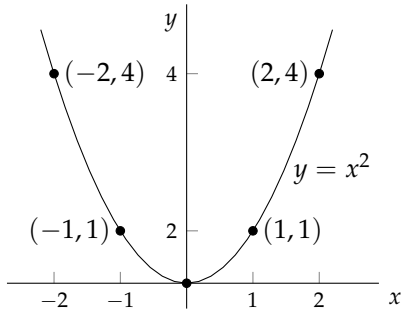

شکل ۱.۶: قطع مکافی (مثال ۱.۱۲)

مثال ۱.۱۲: مساوات $y = x^2$ پر غور کریں۔ $(0,0)$ ، $(1,1)$ ، $(-1,1)$ ، $(2,4)$ اور $(-2,4)$ ایسے چند نقطے ہیں جن کے محدد اس مساوات کو مطمئن کرتے ہیں۔ یہ نقطے (اور ایسے تمام باقی نقطے جو اس مساوات کو مطمئن کرتے ہوں) مل کر ہموار منحنی دیتے ہیں جس کو **قطع مکافی**[۳۱] کہتے ہیں (شکل ۱.۶)۔

□

سیدھے خطوط

مستوی میں دو نقطوں $N_1(x_1, y_1)$ اور $N_2(x_2, y_2)$ سے یکتا سیدھا خط گزرتا ہے جس کو عموماً خط N_1N_2 کہتے ہیں۔

مستوی میں کسی بھی غیر انتصابی خط پر ہر دو نقطوں $N_1(x_1, y_1)$ اور $N_2(x_2, y_2)$ کے لئے درج ذیل نسبت

$$m = \frac{\Delta y}{\Delta x} = \frac{y_2 - y_1}{x_2 - x_1}$$

کی قیمت ایک سی ہو گی (شکل ۱.۷)۔

تعریف: درج ذیل شرح

$$m = \frac{\Delta y}{\Delta x} = \frac{y_2 - y_1}{x_2 - x_1}$$

غیر انتصابی خط N_1N_2 کا **ڈھلوان**[۳۲] کہلاتا ہے۔

□

---

[۳۱] parabola
[۳۲] slope

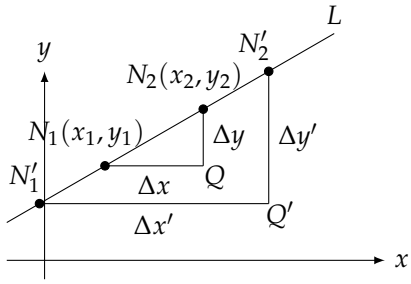

شکل ۱.۷: N_1QN_2 اور $N_1'Q'N_2'$ متشابہ مثلثات ہیں لہذا $\frac{\Delta y}{\Delta x} = \frac{\Delta y'}{\Delta x'}$ ہو گا

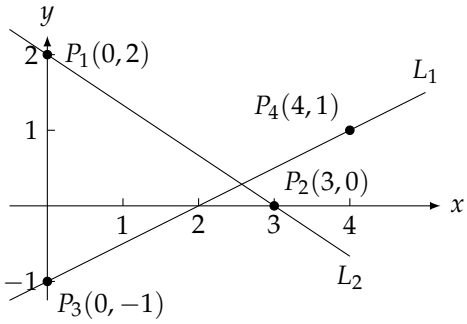

شکل ۱.۸: چڑھائی اور اترائی (مثال ۱.۱۳)

ڈھلوان ہمیں خط کی چڑھائی یا اترائی دیتا ہے۔ مثبت ڈھلوان کے خط پر دائیں رخ چلتے ہوئے چڑھائی نظر آئے گی جبکہ منفی ڈھلوان کے خط پر دائیں رخ چلتے ہوئے اترائی نظر آئے گی۔ ڈھلوان کی مطلق قیمت جتنی زیادہ ہو چڑھائی یا اترائی اتنی زیادہ ہو گی۔ انتصابی خط کے ڈھلوان کے لئے $\Delta x = 0$ ہو گا لہذا شرح $\frac{\Delta y}{\Delta x}$ غیر معین ہو گا (چونکہ 0 سے کسی بھی عدد کو تقسیم کرنا ممکن نہیں)۔ یوں انتصابی خط کا ڈھلوان غیر معین ہے۔ افقی خط کا ڈھلوان 0 ہے۔

مثال ۱.۱۳: شکل ۱.۸ میں L_1 کا ڈھلوان

$$m_1 = \frac{1-(-1)}{4-0} = \frac{2}{4} = \frac{1}{2}$$

ہے، یعنی، دائیں رخ دو قدم لینے سے ایک قدم چڑھائی چڑھنی پڑتی ہے۔ اسی طرح L_2 کا ڈھلوان

$$m_2 = \frac{0-2}{3-0} = -\frac{2}{3}$$

ہے، یعنی، دائیں رخ تین قدم چلنے سے دو قدم اترائی اترنی ہو گی۔ □

شکل ۱.۹: زاویہ میلان x محور سے گھڑی کی الٹ رخ ناپا جاتا ہے

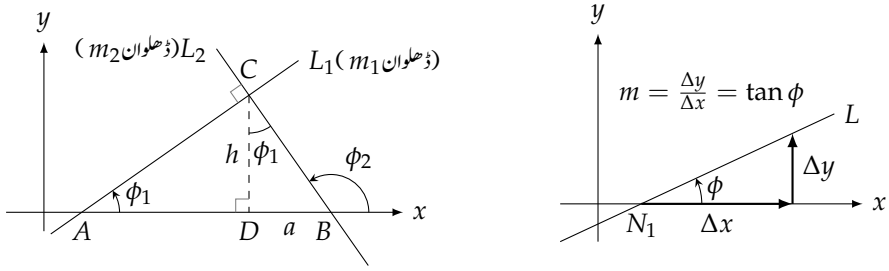

شکل ۱.۱۰: غیر انتصابی خط کا ڈھلوان اس کے زاویہ میلان کا ٹینجنٹ ہوتا ہے

شکل ۱.۱۱: قائمہ خطوط کے ڈھلوان کا تعلق

۴۸۰ خط کی چڑھائی یا اترائی کو **زاویہ میلان**[۳۳] سے بھی ناپا جاتا ہے۔ x محور سے گزرتے خط کا زاویہ میلان مثبت x محور سے گھڑی (کی سوئیوں کے چلنے) کے
۴۸۱ مخالف رخ ناپا جاتا ہے (شکل ۱.۹)۔ افقی خط کا زاویہ میلان $0°$ اور انتصابی خط کا زاویہ میلان $90°$ ہو گا۔ اگر زاویہ میلان کو یونانی حرف تہجی ϕ سے ظاہر کیا
۴۸۲ جائے تب $0 \leq \phi \leq 180°$ ہو گا۔

۴۸۳ خط کے ڈھلوان m اور زاویہ میلان ϕ کا تعلق درج ذیل ہے (شکل ۱.۱۰)۔

$$m = \tan\phi$$

۴۸۴

۴۸۵ **متوازی اور قائمہ خطوط**

۴۸۶ متوازی خطوط کا زاویہ میلان ایک سا ہو گا لہٰذا ان کے ڈھلوان بھی ایک سے ہوں گے۔ اسی طرح ایک سے ڈھلوان والے خطوط کا زاویہ میلان ایک سا ہو گا لہٰذا یہ
۴۸۷ متوازی ہوں گے۔

۴۸۸ اگر غیر انتصابی خطوط L_1 اور L_2 آپس میں قائمہ ہوں تب ان کے ڈھلوان m_1 اور m_2 مساوات $m_1 m_2 = -1$ کو مطمئن کریں گی۔ یوں
۴۸۹ ایک خط کے ڈھلوان کا منفی معکوس دوسرے خط کے ڈھلوان کے برابر ہو گا۔

$$m_1 = -\frac{1}{m_2}, \quad m_2 = -\frac{1}{m_1}$$

---

[۳۳] angleofinclination

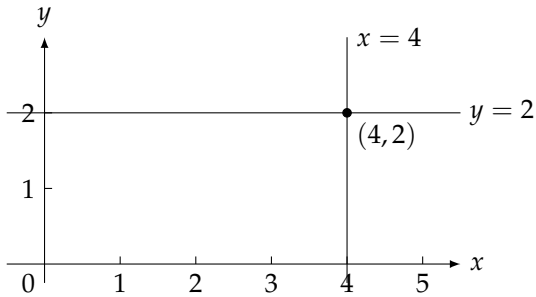

شکل ۱.۱۲: افقی اور انتصابی خطوط کی مساوات (مثال ۱.۱۴)

شکل ۱.۱۱ میں قائمہ خطوط دکھائے گئے ہیں جہاں $m_1 = \tan\phi_1 = \frac{a}{h}$ اور $m_2 = \tan\phi_2 = -\frac{h}{a}$ ہیں۔ یوں $m_1 m_2 = \left(\frac{a}{h}\right)\left(-\frac{h}{a}\right) = -1$ ہو گا۔

خطوط کی مساوات

سیدھے خطوط کی مساوات نسبتاً سادہ ہوتی ہیں۔ x محور کے نقطہ a سے گزرتے انتصابی خط پر ہر نقطے کی x محدد a ہو گی۔ یوں اس انتصابی خط کی مساوات $x = a$ ہو گی۔ اسی طرح y محور کے نقطہ b سے گزرتے افقی خط کی مساوات $y = b$ ہو گی۔

مثال ۱.۱۴: نقطہ $(4, 2)$ سے گزرتے افقی اور انتصابی خطوط کی مساوات بالترتیب $y = 2$ اور $x = 4$ ہوں گی (شکل ۱.۱۲)۔ □

اگر ہمیں غیر انتصابی سیدھے خط L کا ڈھلوان معلوم ہو اور اس خط پر کوئی نقطہ $N_1(x_1, y_1)$ معلوم ہو تب ہم اس کی مساوات لکھ سکتے ہیں۔ اگر اس خط پر $N(x, y)$ کوئی دوسرا نقطہ ہو تب

$$m = \frac{y - y_1}{x - x_1}$$

ہو گا جس کو

$$y - y_1 = m(x - x_1) \quad \Longrightarrow \quad y = y_1 + m(x - x_1)$$

لکھا جا سکتا ہے جو اس خط کی مساوات ہے۔

تعریف: نقطہ (x_1, y_1) سے گزرتے ایسا خط جس کا ڈھلوان m ہو کی مساوات $y = y_1 + m(x - x_1)$ ہو گی، جس کو خط کی **نقطہ و ڈھلوان مساوات**[۳۴] کہتے ہے۔

□

[۳۴] point-slopeequation

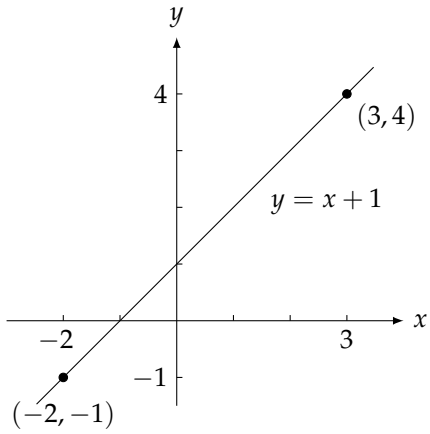

شکل ۱.۱۳: دو نقطوں میں گزرتے خط کی مساوات (مثال ۱.۱۶)

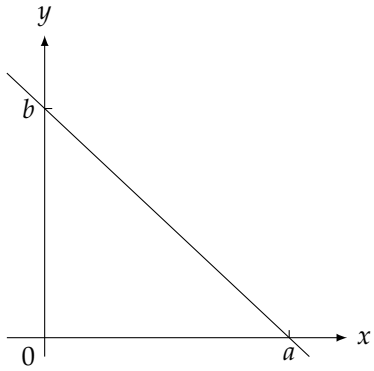

شکل ۱.۱۴: غیر انتصابی اور غیر افقی خط کے محوری قطعات

۵۰۳ مثال ۱.۱۵: نقطہ $(3,2)$ سے گزرتا خط جس کا ڈھلوان $-\frac{2}{3}$ ہو کی مساوات تلاش کریں۔

۵۰۴ حل:

$$y = 2 - \frac{2}{3}(x-3) \quad \Longrightarrow \quad y = -\frac{2}{3}x + 4$$

۵۰۵ □

۵۰۶ مثال ۱.۱۶: نقطہ $(-2,-1)$ اور $(3,4)$ سے گزرتے خط کی مساوات تلاش کریں۔

۵۰۷ حل: اس خط کا ڈھلوان

$$m = \frac{-1-4}{-2-3} = \frac{-5}{-5} = 1$$

۵۰۸ ہے۔ ہم دونوں نقطوں میں سے کوئی ایک لیتے ہوئے خط کی مساوات حاصل کر سکتے ہیں۔ طریقہ کار درج ذیل ہے۔

نقطہ $(x_1,y_1) = (3,4)$ لیتے ہیں	نقطہ $(x_1,y_1) = (-2,-1)$ لیتے ہیں
$y = 4 + 1\cdot(x-3)$	$y = -1 + 1\cdot(x - x(-2))$
$y = 4 + x - 3$	$y = -1 + x + 2$
$y = x + 1$	$y = x + 1$

۵۰۹ آپ نے دیکھا کہ دونوں سے ایک سی مساوات حاصل ہوتی ہے (شکل ۱.۱۳)۔ □

غیر انتصابی خط y محور کو جس نقطہ پر قطع کرتا ہو اس نقطہ کو خط کا y **قطع**[۳۵] کہتے ہیں۔ اسی طرح غیر افقی خط جس نقطہ پر x محور کو قطع کرتا ہو اس نقطہ کو خط کا x **قطع**[۳۶] کہتے ہیں (شکل ۱.۱۴)۔

غیر انتصابی خط جو y محور کو $(0, b)$ پر قطع کرتا ہو کی مساوات

$$y = b + m(x - 0) \quad \Longrightarrow \quad y = mx + b$$

ہو گی۔

تعریف: درج ذیل مساوات

$$y = b + m(x - 0) \quad \Longrightarrow \quad y = mx + b$$

کو خط کی **ڈھلوان و قطع مساوات**[۳۷] کہتے ہیں۔ اس خط کا ڈھلوان m ہے اور یہ y محور کو b پر قطع کرتا ہے۔

□

مثال ۱.۱۷: خط $y = 3x - 7$ کا ڈھلوان $m = 3$ ہے جبکہ یہ y محور کو -7 پر قطع کرتا ہے۔ □

درج ذیل مساوات کو **عمومی خطی مساوات**[۳۸] کہتے ہیں۔

$$Ax + By = C \qquad (\text{ہر } A \text{ اور } B \text{ دونوں ایک ساتھ صفر نہیں ہیں})$$

ہر سیدھا خط (بشمول غیر معین ڈھلوان کا خط) عمومی خطی مساوات کی صورت میں لکھا جا سکتا ہے۔

مثال ۱.۱۸: خط $8x + 5y = 20$ کا y تقاطع تلاش کریں۔

حل: ہم مساوات کو ڈھلوان و قطع روپ میں لکھ کر تقاطع y مساوات سے حاصل کرتے ہیں۔

$$\begin{aligned} 8x + 5y &= 20 \\ 5y &= -8x + 20 \\ y &= -\frac{8}{5}x + 4 \end{aligned}$$

یوں خط کا ڈھلوان $-\frac{8}{5}$ اور y تقاطع 4 ہے۔ □

مثال ۱.۱۹: مبدا سے گزرتے خطوط کی مساواتیں۔

چونکہ ان خطوط کا y قطع 0 ہو گا لہٰذا ان کی مساوات $y = mx$ ہو گی۔ شکل ۱.۱۵ میں چند مثالیں دکھائی گئی ہیں۔ □

---

[۳۵] y-intercept
[۳۶] x-intercept
[۳۷] slope-interceptequation
[۳۸] generallinearequation

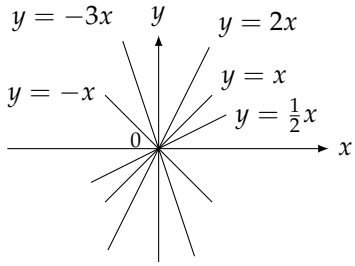

شکل ۱.۱۵: مبدا سے گزرتا خط کی مساوات $y = mx$ ہے جہاں m خط کا ڈھلوان ہے

خطوط اور خط کی اہمیت

شعاع سیدھے خط پر چلتی ہے۔ اسی طرح جب ساکن جسم کو گرنے دیا جائے، کشش ثقل کی وجہ سے یہ جسم سیدھے خط پر حرکت کرتا ہے۔ ہم عموماً خط کی مساوات (جنہیں **خطی مساوات**[۳۹] کہتے ہیں) استعمال کرتے ہوئے اس طرح کے طبعی اعمال پر غور کرتے ہیں۔

بہت سارے اہم مقادیر آپس میں خطی تعلق رکھتے ہیں۔ یہ جانتے ہوئے کہ دو مقادیر آپس میں خطی تعلق رکھتے ہیں، ہم ان کی مطابقتی قیمتوں کی کسی بھی دو جوڑیوں سے یہ تعلق دریافت کر سکتے ہیں۔ ڈھلوان سے ہمیں چڑھائی یا مقادیر کی تبدیلی کی شرح معلوم ہوتی ہے۔ اسی وجہ سے احصاء میں ڈھلوان کلیدی کردار ادا کرتا ہے۔

مثال ۱.۲۰: مزاحمتی برقی دور میں برقی دباو V اور برقی رو I کا تعلق $V = IR$ ہے جو خطی مساوات ہے۔ اس مساوات کا ڈھلوان R ہے جس کو مزاحمت کہتے ہیں۔ □

سوالات

بڑھوتری اور کوٹی

سوال ۱.۵۱ تا سوال ۱.۵۴ میں ایک ذرہ A سے B منتقل ہوتا ہے۔ اس کی بڑھوتری Δx اور Δy تلاش کریں اور A سے B تک فاصلہ تلاش کریں۔

سوال ۱.۵۱: $A(-3,2),\ B(-1,-2)$

سوال ۱.۵۲: $A(-1,-2),\ B(-3,2)$

سوال ۱.۵۳: $A(-3.2,-2),\ B(-8.1,-2)$

سوال ۱.۵۴: $A(\sqrt{2},4),\ B(0,1.5)$

سوال ۱.۵۵ تا سوال ۱.۵۸ میں دی گئی مساوات ترسیم کریں۔ ترسیم پر تبصرہ کریں۔

---

[۳۹] linearequations

سوال ۱.۵۵: $x^2 + y^2 = 1$

سوال ۱.۵۶: $x^2 + y^2 = 2$

سوال ۱.۵۷: $x^2 + y^2 \leq 3$

سوال ۱.۵۸: $x^2 + y^2 = 0$

ڈھلوان، خطوط اور محوری قطعات

سوال ۱.۵۹ تا سوال ۱.۶۲ میں دیے گئے نقطوں کو ترسیم کریں۔ جہاں ممکن ہو، نقطوں کو ملانے والے خط کا ڈھلوان تلاش کریں۔ خط AB کو قائمہ خط کا ڈھلوان تلاش کریں۔

سوال ۱.۵۹: $A(-1,2),\ B(-2,-1)$

سوال ۱.۶۰: $A(-2,1),\ B(2,-2)$

سوال ۱.۶۱: $A(2,3),\ B(-1,3)$

سوال ۱.۶۲: $A(-2,0),\ B(-2,-2)$

سوال ۱.۶۳ تا سوال ۱.۶۶ میں دیے گئے نقطہ سے گزرتے (الف) انتصابی خط اور (ب) افقی خط کی مساوات تلاش کریں۔

سوال ۱.۶۳: $(-1, \frac{4}{3})$

سوال ۱.۶۴: $(\sqrt{2}, -1.3)$

سوال ۱.۶۵: $(0, -\sqrt{2})$

سوال ۱.۶۶: $(-\pi, 0)$

سوال ۱.۶۷ تا سوال ۱.۸۰ میں خط کی مساوات تلاش کریں۔ خط کی تفصیل دی گئی ہے۔

سوال ۱.۶۷: نقطہ $(-1,1)$ سے گزرتا خط جس کا ڈھلوان -1 ہو۔

سوال ۱.۶۸: نقطہ $(2,-3)$ سے گزرتا خط جس کا ڈھلوان $\frac{1}{2}$ ہو۔

سوال ۱.۶۹: نقطہ $(3,4)$ اور $(-2,5)$ سے گزرتا خط۔

سوال ۱.۷۰: نقطہ $(-8,0)$ اور $(-1,3)$ سے گزرتا خط۔

سوال ۱.۷۱: ڈھلوان $-\frac{5}{4}$ اور y قطع 6 ہے۔

سوال ۱.۷۲: ڈھلوان $\frac{1}{2}$ اور y قطع -3 ہے۔

سوال ۱.۷۳: نقطہ $(-12,-9)$ سے گزرتا جس کا ڈھلوان 0 ہو۔

سوال ۱.۷۴: نقطہ $(\frac{1}{3}, 2)$ سے گزرتا جس کا کوئی ڈھلوان نہ ہو۔

سوال ۱.۷۵: جس کا x قطع -1 اور y قطع 4 ہو۔

سوال ۱.۷۶: جس کا x قطع 2 اور y قطع -6 ہو۔

سوال ۱.۷۷: جو نقطہ $(5, -1)$ سے گزرتا ہو اور خط $2x + 5y = 15$ کے متوازی ہو۔

سوال ۱.۷۸: جو نقطہ $(-\sqrt{2}, \sqrt{2})$ سے گزرتا ہو اور خط $\sqrt{2}x + 5y = \sqrt{3}$ کے متوازی ہو۔

سوال ۱.۷۹: نقطہ $4, 10$ سے گزرتا اور خط $6x - 3y = 13$ کا قائمہ ہو۔

سوال ۱.۸۰: نقطہ $(0, 1)$ سے گزرتا اور خط $8x - 13y = 13$ کو قائمہ ہو۔

خط کا x قطع اور y قطع تلاش کریں۔ ان معلومات کو استعمال کرتے ہوئے خط ترسیم کریں۔ (سوال ۱.۸۱ تا سوال ۱.۸۴)

سوال ۱.۸۱: $3x + 4y = 12$

سوال ۱.۸۲: $x + 2y = -4$

سوال ۱.۸۳: $\sqrt{2}x - \sqrt{3}y = \sqrt{6}$

سوال ۱.۸۴: $1.5x - y = -3$

سوال ۱.۸۵: کیا $Ax + By = C_1$ اور $Bx - Ay = C_2$ (جہاں $A \neq 0$ اور $B \neq 0$ ہیں) میں کوئی خاص تعلق پایا جاتا ہے۔ تعلق کی وجہ بیان کریں۔

سوال ۱.۸۶: کیا $Ax + By = C_1$ اور $Ax + By = C_2$ (جہاں $A \neq 0$ اور $B \neq 0$ ہیں) میں کوئی خاص تعلق پایا جاتا ہے۔ تعلق کی وجہ بیان کریں۔

بڑھوتری اور حرکت

سوال ۱.۸۷: ایک ذرے کا ابتدائی مقام $A(-2, 3)$ ہے جبکہ اس کی بڑھوتریاں $\Delta x = 5$ ، $\Delta y = -6$ ہیں۔ ذرے کا اختتامی مقام تلاش کریں۔

سوال ۱.۸۸: ایک ذرے کا ابتدائی مقام $A(6, 0)$ ہے جبکہ اس کی بڑھوتریاں $\Delta x = -6$ ، $\Delta y = 0$ ہیں۔ ذرے کا اختتامی مقام تلاش کریں۔

سوال ۱.۸۹: ایک ذرہ $A(x, y)$ سے $B(3, -3)$ منتقل ہوتا ہے۔ اس کی بڑھوتریاں $\Delta x = 5$ اور $\Delta y = 6$ ہیں۔ ابتدائی نقطہ تلاش کریں۔

سوال ۱.۹۰: ایک ذرہ $A(1, 0)$ سے حرکت کرتے ہوئے مبدا کے گرد گھڑی کے مخالف رخ ایک چکر مکمل کرنے کے بعد $A(1, 0)$ پر واپس لوٹتا ہے۔ اس کے محدد میں کل تبدیلی کیا ہے؟

عملی استعمال

سوال ۱.۹۱: پانی میں دباو پانی میں d گہرائی پر غوطہ خور p دباو محسوس کرے گا جہاں $p = kd + 1$ ہے اور k ایک مستقل ہے۔ پانی کی سطح پر غوطہ خور پر 1 کرہ ہوائی دباو پایا جاتا ہے۔ 100 میٹر گہرائی پر تقریباً 10.94 کرہ ہوائی دباو پایا جاتا ہے۔ 50 میٹر گہرائی پر ہوائی دباو کیا ہو گا؟

سوال ۱.۹۲: انعکاس شعاع ربع دوم سے خط $x + y = 1$ پر آمدی شعاع x محور سے منعکس ہوتی ہے۔ زاویہ آمد اور زاویہ انعکاس برابر ہوتے ہیں۔ انعکاسی شعاع کس خط پر حرکت کرے گی؟

سوال ۱.۹۳: **سیلسیئس بالمقابل فارن ہائیٹ** سیلسیئس بالمقابل فارن ہائیٹ مستوی FC میں $C = \frac{5}{9}(F - 32)$ ترسیم کریں جو فارن ہائیٹ سے سیلسیئس حاصل کرنے کا کلیہ ہے۔ اسی جگہ $F = C$ ترسیم کریں۔ کیا کوئی ایسا درجہ حرارت پایا جاتا ہے جس پر دونوں پیمانے ایک سا اعدادی جواب دیں؟

نظریہ اور مثالیں

سوال ۱.۹۴: ایک مثلث کے راس $A(1,2)$ ، $B(5,5)$ اور $C(4,-2)$ پر پائے جاتے ہیں۔ مثلث کے تینوں اضلاع کی لمبائیاں تلاش کرتے ہوئے ثابت کریں کہ یہ مساوی الساقین مثلث ہے اور متساوی الاضلاع مثلث نہیں ہے۔

سوال ۱.۹۵: ایک مثلث کے راس $A(0,0)$ ، $B(1,\sqrt{3})$ اور $C(2,0)$ ہیں۔ دکھائیں کہ یہ متساوی الاضلاع مثلث ہے۔

سوال ۱.۹۶: دکھائیں کہ $A(2,-1)$ ، $B(1,3)$ اور $C(-3,2)$ چوکور کے راس ہیں۔ چوتھا راس تلاش کریں۔

سوال ۱.۹۷: تین مختلف متوازی الاضلاع کے راس $(-1,1)$ ، $(2,0)$ اور $(2,3)$ ہیں۔ تینوں کا چوتھا راس تلاش کریں۔

سوال ۱.۹۸: مبدا کے گرد گھڑی مخالف $90°$ گھمانے سے نقطہ $(2,0)$ اور $(0,3)$ بالترتیب $(0,2)$ اور $(-3,0)$ منتقل ہوتے ہیں (شکل ۱.۱۶)۔ درج ذیل نقطے کہاں منتقل ہوں گے؟

ا) $(4,1)$

ب) $(-2,-3)$

ج) $(2,-5)$

د) $(x,0)$

ھ) $(0,y)$

و) (x,y)

ز) کونسا نقطہ $(10,3)$ پر منتقل ہو گا؟

سوال ۱.۹۹: k کی کس قیمت کے لئے خط $2x + ky = 3$ اور خط $4x + y = 1$ قائمہ ہوں گے۔ k کی کس قیمت کے لئے یہ خطوط متوازی ہوں گے؟

سوال ۱.۱۰۰: وہ خط تلاش کریں جو نقطہ $(1,2)$ اور خط $x + 2y = 3$ اور $2x - 3y = -1$ کے انقطاعی نقطہ سے گزرتا ہو۔

سوال ۱.۱۰۱: دکھائیں کہ $A(x_1,y_1)$ اور $B(x_2,y_2)$ کو ملانے والے قطعہ کا وسط $\left(\frac{x_1+x_2}{2}, \frac{y_1+y_2}{2}\right)$ ہو گا۔

سوال ۱.۱۰۲: نقطہ سے خط تک فاصلہ نقطہ $N(x_0,y_0)$ سے خط $L : Ax + By = C$ تک فاصلہ درج ذیل قدم لیتے ہوئے حاصل کیا جا سکتا ہے۔

- L کی قائمہ اور N سے گزرتے خط Q کی مساوات تلاش کریں۔
- خط Q اور L کا نقطہ تقاطع M تلاش کریں۔

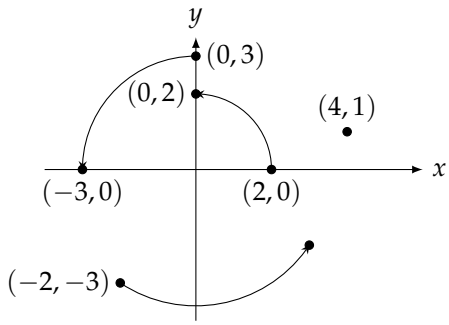

شکل ۱.۱۶: گھڑی مخالف 90° گھومنا (سوال ۱.۹۸)

- N سے M تک فاصلہ تلاش کریں۔

اس طریقہ کو استعمال کرتے ہوئے درج ذیل نقطوں کا دیے گئے خط سے فاصلہ تلاش کریں۔

ا) $N(2,1), L: y = x + 2$

ب) $N(4,6), L: 4x + 3y = 12$

ج) $N(a,b), L: x = -1$

د) $N(x_0, y_0), L: Ax + By = C$

۱.۳ تفاعل

حقیقی دنیا کو ریاضیاتی روپ میں تفاعل کے ذریعہ بیان کیا جاتا ہے۔ اس حصہ میں تفاعل پر غور کیا جائے گا اور ایسے چند تفاعل پر غور کیا جائے گا جو احصاء میں پائے جائیں گے۔

تفاعل

پانی ابلنے کا درجہ حرارت، سطح سمندر سے بلندی پر منحصر ہے۔ زیادہ بلندی پر پانی کم درجہ حرارت پر ابلتا ہے۔ اسی طرح سرمایہ کاری پر منافع سرمایہ کاری کے دورانیے پر منحصر ہے۔ ان دونوں مثالوں میں ایک متغیر، جس کو ہم y کہہ سکتے ہیں، کا دارومدار دوسرے متغیر، جس کو ہم x کہہ سکتے ہیں، پر منحصر ہے۔ چونکہ y کی قیمت مکمل طور پر x تعین کرتا ہے لہٰذا y کو x کا تفاعل کہتے ہیں۔

زیر غور مسئلے کو دیکھ کر متغیرات منتخب کیے جاتے ہیں۔ یوں دائرے کے رقبہ کی بات کرتے ہوئے رقبہ کو A اور رداس کو r سے ظاہر کیا جاتا ہے۔ چونکہ $A = \pi r^2$ ہے لہٰذا ہم کہتے ہیں کہ رداس r کا تفاعل رقبہ A ہے۔ مساوات $A = \pi r^2$ وہ قاعدہ ہے جس کی مدد سے r کی ہر قیمت کے لئے A کی یکتا قیمت تلاش کی جا سکتی ہے۔

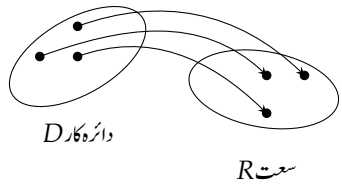

شکل ۱.۱۷: سلسلہ D سے سلسلہ R پر تفاعل، D کے ہر رکن کو R کا یکتا رکن مختص کرتا ہے۔

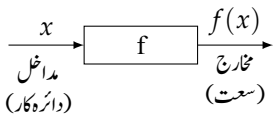

شکل ۱.۱۸: تفاعل کی ڈبہ صورت

رداس کی تمام ممکنہ قیمتوں کے سلسلہ کو تفاعل کا **دائرہ کار**[۴۰] کہتے ہیں جبکہ تفاعل کی تمام قیمتوں کے سلسلہ کو تفاعل کی **سعت**[۴۱] کہتے ہیں۔ چونکہ رداس کی قیمت منفی نہیں ہو سکتی ہے لہٰذا تفاعل کا دائرہ کار اور سعت دونوں وقفہ $[0, \infty)$ پر مشتمل ہوں گے جو تمام غیر منفی حقیقی اعداد کا سلسلہ ہے۔

ریاضیاتی تفاعل کا دائرہ کار اور اس کی سعت چیزوں کا سلسلہ ہو سکتے ہیں؛ ضروری نہیں ہے کہ یہ اعداد ہی ہوں۔ اس کتاب میں زیادہ تر دائرہ کار اور سعت اعدادی ہوں گے۔

احصاء میں ہم عمومی تفاعل کی بات کرتے ہیں۔ ہمارے ذہن میں کوئی مخصوص تفاعل نہیں ہوتا۔ ہم

$$y = f(x) \qquad (f \text{ کا } x \text{ برابر ہے } y)$$

لکھتے ہوئے کہنا چاہتے ہیں کہ متغیر y، متغیر x کا تفاعل ہے۔ یہاں f تفاعل کو ظاہر کرتا ہے جبکہ داخلی قیمت x **غیر تابع متغیر**[۴۲] ہے اور خارجی قیمت y **تابع متغیر**[۴۳] ہے۔ x کی قیمت تفاعل کے دائرہ کار میں سے ہو گی جبکہ y کی قیمت تفاعل کی سعت میں سے ہو گی۔

تعریف: سلسلہ D سے سلسلہ R تک تفاعل $f(x)$ اس قاعدہ کو کہتے ہیں جو D میں ہر رکن x کو R کا یکتا رکن $f(x)$ مختص کرتا ہے۔

□

اس تعریف کے تحت $D = D(f)$ (جس کو D کا f پڑھتے ہیں) تفاعل f کا دائرہ کار ہے اور f کی سعت R کا حصہ ہے (شکل ۱.۱۷)۔

ہم تفاعل کو تصوراتی ڈبہ شکل دے سکتے ہیں (شکل ۱.۱۸)۔ اس ڈبے کو داخلی جانب جب بھی تفاعل کے دائرہ کار میں سے کوئی رکن مہیا کیا جائے یہ فوراً $f(x)$ خارج کرتا ہے۔

اس کتاب میں ہم تفاعل کی تعریف عموماً دو طرح کریں گے۔

۱. تفاعل کی قیمت کو تابع متغیر y سے ظاہر کرتے ہوئے $y = x^2$ طرح کا کلیہ دیں گے اور یا

۲. ہم $f(x) = x^2$ کی طرح کلیہ لکھ کر تفاعل کی قیمت کو f کی علامت سے ظاہر کریں گے۔

---

[۴۰] domain
[۴۱] range
[۴۲] independentvariable
[۴۳] dependentvariable

اگرچہ ہمیں تفاعل کو f ، نا کہ $f(x)$ ، کہنا چاہیے چونکہ $f(x)$ سے مراد نقطہ x پر تفاعل کی قیمت ہے؛ ہم تفاعل کے غیر تابع متغیر کی نشاندہی کرنے کی خاطر تفاعل کو عموماً $f(x)$ لکھیں گے۔

بعض اوقات تفاعل اور تابع متغیر کو ایک ہی علامت سے ظاہر کرنا مفید ثابت ہوتا ہے۔ مثال کے طور پر رداس r دائرے کے رقبہ کو ہم $A(r) = \pi r^2$ لکھ سکتے ہیں جہاں علامت A سے مراد رقبہ اور تفاعل دونوں ہیں۔

قدر پیمائی

جیسا پہلے بھی ذکر کیا گیا، اس کتاب میں عموماً **حقیقی متغیرات**[۴۴] کے **حقیقی قیمت تفاعل**[۴۵] پر غور کیا جائے گا جن کے دائرہ کار اور سعت حقیقی اعداد کا سلسلہ ہوں گے۔ ہم تفاعل کے دائرہ کار سے مخصوص قیمتوں کو تفاعل کے قاعدہ میں پر کرتے ہوئے سعت کی مطابقتی قیمتیں حاصل کرتے ہیں۔

مثال ۱.۲۱: رداس r کے کرہ کا حجم V درج ذیل تفاعل دیتا ہے۔

$$V = \frac{4}{3}\pi r^3$$

$3\,\mathrm{m}$ رداس کے کرہ کا حجم درج ذیل ہوگا۔

$$V = \frac{4}{3}\pi 3^3 = 36\pi\,\mathrm{m}^2$$

□

مثال ۱.۲۲: فرض کریں کہ تمام حقیقی اعداد t کے لئے تفاعل معین ہے اور اس کو درج ذیل کلیہ بیان کرتا ہے۔

$$F(t) = 2(t-1) + 3$$

اس تفاعل کی قیمت 0 ، 2 ، $x+2$ اور $F(2)$ پر حاصل کریں۔

حل:

$$\begin{aligned}
F(0) &= 2(0-1)+3 = -2+3 = 1\\
F(2) &= 2(2-1)+3 = 2+3 = 5\\
F(x+2) &= 2(x+2-1)+3 = 2x+5\\
F(F(2)) &= F(5) = 2(5-1)+3 = 11
\end{aligned}$$

□

[۴۴] realvariables
[۴۵] realvaluedfunction

روایت دائرہ کار

جب دائرہ کار صریحاً بتائے بغیر تفاعل $y = f(x)$ متعارف کیا جائے تب x کی زیادہ سے زیادہ ایسی قیمتوں کا سلسلہ جس کے لئے یہ کلیہ حقیقی قیمتیں دیتا ہو کو تفاعل کا دائرہ کار تصور کیا جاتا ہے۔ اس کو تفاعل کا **قدرتی دائرہ کار**[۴۶] کہتے ہیں۔ دائرہ کار پر کسی بھی طرح کی پابندی صریحاً بتلائی جاتی ہے۔

تفاعل $y = x^2$ کا قدرتی دائرہ کار تمام حقیقی اعداد کے سلسلہ پر مشتمل ہے۔ اگر ہم اس تفاعل کے دائرہ کار x کو 2 یا 2 سے زیادہ حقیقی اعداد تک پابند کرنا چاہتے ہوں تب ہم "$y = x^2, x \geq 2$" لکھیں گے۔

دائرہ کار تبدیل کرنے سے سعت بھی عموماً تبدیل ہو گی۔ تفاعل $y = x^2$ کی سعت $[0, \infty)$ ہو گی جبکہ تفاعل $y = x^2, x \geq 2$ کی سعت $[4, \infty)$ ہو گی جس کو ہم $\{x^2 | x \geq 2\}$ یا $\{y | y \geq 4\}$ بھی لکھتے ہیں۔

مثال ۱.۲۳:

تفاعل	دائرہ کار (x)	سعت
$y = \sqrt{1 - x^2}$	$[-1, 1]$	$[0, 1]$
$y = \frac{1}{x}$	$(-\infty, 0) \cup (0, \infty)$	$(-\infty, 0) \cup (0, \infty)$
$y = \sqrt{x}$	$[0, \infty)$	$[0, \infty)$
$y = \sqrt{4 - x}$	$(-\infty, 4]$	$[0, \infty)$

تفاعل $y = \sqrt{1 - x^2}$ بند وقفہ -1 تا 1 میں ہر x کے لئے y کی حقیقی قیمتیں دیتا ہے۔ اس دائرہ کار کے باہر $1 - x^2$ منفی ہو گا اور $\sqrt{1 - x^2}$ خیالی یعنی غیر حقیقی ہو گا۔ دیے گئے دائرہ کار کے اندر رہتے ہوئے $\sqrt{1 - x^2}$ کی قیمت 0 تا 1 ہے، جس کو ہم $[0, 1]$ لکھتے ہیں۔

چونکہ کسی بھی عدد کو 0 سے تقسیم نہیں کیا جا سکتا لہٰذا ماسوائے $x = 0$، کلیہ $y = \frac{1}{x}$ ہر x کے لئے حقیقی y دیتا ہے۔ تفاعل $y = \frac{1}{x}$ کی سعت، تمام غیر صفر حقیقی اعداد کے سلسلے کی معکوس ہو گی، جو از خود تمام غیر صفر حقیقی اعداد کا سلسلہ ہے۔

کلیہ $y = \sqrt{x}$ صرف $x \geq 0$ کی صورت میں حقیقی y دیتا ہے۔ اس کی سعت $[0, \infty)$ ہے۔

حقیقی y کے لئے کلیہ $y = \sqrt{4 - x}$ میں $4 - x$ کی قیمت غیر منفی ہونی لازمی ہے۔ یوں $4 - x \geq 0$ سے دائرہ کار $x \leq 4$ حاصل ہوتا ہے۔ تفاعل کی سعت $[0, \infty)$ ہو گی۔ □

تفاعل کی ترسیم

تفاعل f کی ترسیم سے مراد مساوات $y = f(x)$ کی ترسیم ہے جو کارتیسی مستوی پر وہ نقطے ہیں جن کے محدد تفاعل f کی داخلی و خارجی جوڑیاں (x, y) ہیں۔

ضروری نہیں کہ ہر منحنی جو آپ ترسیم کریں تفاعل کی منحنی ہو۔ تفاعل ہونے کا بنیادی شرط یہ ہے کہ تفاعل کے دائرہ کار میں ہر x کے لئے تفاعل کی صرف اور صرف ایک (یکتا) قیمت $f(x)$ ہو لہٰذا کوئی بھی انتصابی خط تفاعل کی ترسیم کو ایک سے زیادہ مرتبہ قطع نہیں کر سکتا ہے۔ چونکہ دائرے کو انتصابی خط دو مرتبہ قطع کر سکتا ہے لہٰذا دائرہ تفاعل نہیں ہے (شکل ۱.۱۹)۔ جیسا آپ شکل ۱.۱۹ سے دیکھ سکتے ہیں x کی ایک ہی قیمت پر y کی دو قیمتیں ملتی ہیں۔ اگر تفاعل f کے دائرہ کار میں نقطہ a پایا جاتا ہو تب انتصابی خط $x = a$ تفاعل کو صرف ایک نقطہ $(a, f(a))$ پر قطع کرے گا۔

---

[۴۶] naturaldomain

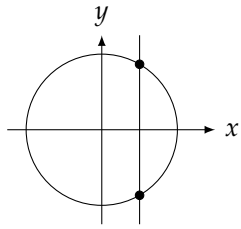

شکل ۱.۱۹: دائرے کو تفاعل تصور کرنا غلط ہے۔

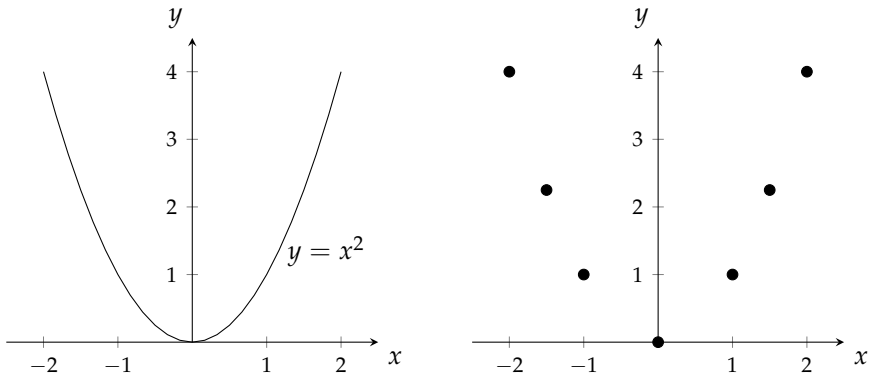

شکل ۱.۲۰: تفاعل $y = x^2$ کی ترسیم (مثال ۱.۲۴)

۶۹۶ مثال ۱.۲۴: وقفہ $[-2, 2]$ پر تفاعل $y = x^2$ ترسیم کریں۔

۶۹۷ حل: **پہلا قدم:** پہلے ایسے (x, y) نقطوں کا جدول بناتے ہیں جو تفاعل کی مساوات کو مطمئن کرتے ہوں۔

x	-2.00	-1.50	-1.00	0.00	1.00	1.50	2.00
y	4.00	2.25	1.00	0.00	1.00	2.25	4.00

۶۹۸ **دوسرا قدم:** جدول میں دیے نقطوں کو xy مستوی پر ترسیم کرتے ہیں (شکل ۱.۲۰)۔

۶۹۹ **تیسرا قدم:** ترسیم کردہ نقطوں سے گزرتی ہموار منحنی کھینچتے ہیں۔ منحنی پر سرخی لکھتے ہیں۔ □

۷۰۰ احصاء میں استعمال کئی تفاعل کو شکل ۱.۲۱ میں ترسیم کیا گیا ہے۔ ان تفاعل کی شکل و صورت جاننا مفید ثابت ہو گا۔

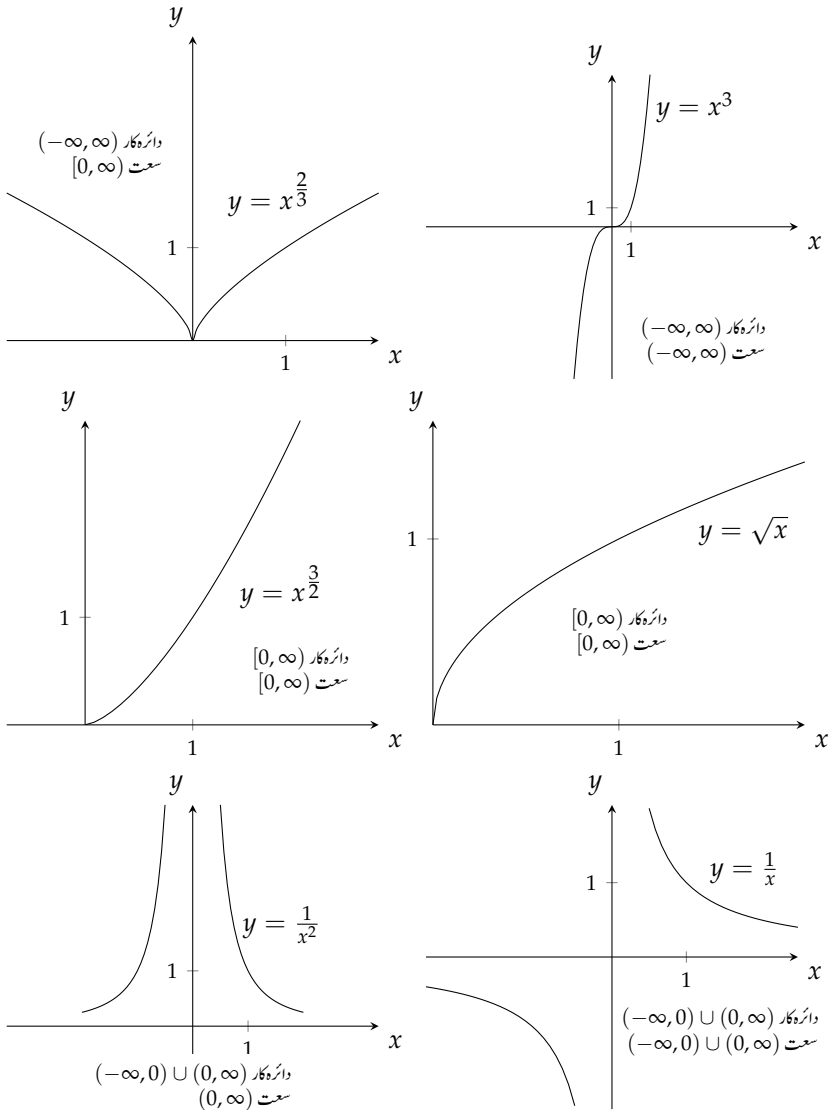

شکل ۱.۲۱: چند اہم تفاعل کی ترسیم

مجموعے، فرق، حاصل ضرب اور حاصل تقسیم

اعداد کی طرح تفاعل کا مجموعہ، تفریق، ضرب، اور (ماسوائے جب نسب نما صفر ہو) حاصل تقسیم لے کر نئے تفاعل حاصل کیے جا سکتے ہیں۔ اگر f اور g تفاعل ہوں تب ایسے x کے لئے، جو دونوں تفاعل کے دائرہ کار میں پایا جاتا ہو، کے لئے تفاعل $f+g$ ، $f-g$ اور fg کی تعریف درج ذیل ہے۔

$$\begin{aligned}(f+g)(x) &= f(x)+g(x)\\ (f-g)(x) &= f(x)-g(x)\\ (fg)(x) &= f(x)g(x)\end{aligned}$$

f اور g کے دائرہ کار کے اشتراک $D(f)\cap D(g)$ ، جہاں $g(x)\neq 0$ ہو، ہم تفاعل $\frac{f}{g}$ کی درج ذیل تعریف پیش کر سکتے ہیں۔

$$(\tfrac{f}{g})(x) = \frac{f(x)}{g(x)} \qquad (g(x)\neq 0)$$

تفاعل کو مستقل سے ضرب دیا جا سکتا ہے۔ یوں اگر c حقیقی عدد ہو تب تفاعل cf کی تعریف درج ذیل ہو گی۔

$$(cf)(x) = cf(x)$$

مثال ۱.۲۵:

تفاعل	کلیہ	دائرہ کار
f	$f(x)=\sqrt{x}$	$[0,\infty)$
g	$g(x)=\sqrt{1-x}$	$(-\infty,1]$
$3g$	$3g(x)=3\sqrt{1-x}$	$(-\infty,1]$
$f+g$	$(f+g)(x)=\sqrt{x}+\sqrt{1-x}$	$[0,1]=D(f)\cap D(g)$
$f-g$	$(f-g)(x)=\sqrt{x}-\sqrt{1-x}$	$[0,1]$
$g-f$	$(g-f)(x)=\sqrt{1-x}-\sqrt{x}$	$[0,1]$
$f\cdot g$	$(f\cdot g)(x)=f(x)g(x)=\sqrt{x(1-x)}$	$[0,1]$
$\frac{f}{g}$	$\frac{f}{g}(x)=\frac{f(x)}{g(x)}=\sqrt{\frac{x}{1-x}}$	$[0,1)$ (ماسوائے $x=1$)
$\frac{g}{f}$	$\frac{g}{f}(x)=\frac{g(x)}{f(x)}=\sqrt{\frac{1-x}{x}}$	$(0,1]$ (ماسوائے $x=0$)

□

مرکب تفاعل

نقطہ در نقطہ x پر ایک تفاعل g کے نتائج $g(x)$ پر دوسرا تفاعل f لاگو کرتے ہوئے تیسرا تفاعل $f(g(x))$ حاصل کیا جا سکتا ہے جس کو **مرکب تفاعل**[۴۷] $f\circ g$ کہتے ہیں۔

[۴۷] compositefunction

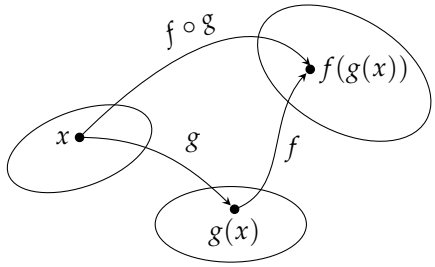

شکل ۱.۲۲: مرکب تفاعل

تعریف: اگر f اور g تفاعل ہوں تب مرکب تفاعل $f \circ g$ کی تعریف درج ذیل ہے۔

$$(f \circ g)(x) = f(g(x))$$

$f \circ g$ کا دائرہ کار ان x پر مشتمل ہے جو g کے دائرہ کار میں پائے جاتے ہیں اور جن پر g کی سعت f کے دائرہ کار میں پائی جاتی ہو۔

□

تعریف کی رو سے دو تفاعل کا مرکب اس صورت حاصل کیا جا سکتا ہے جب پہلے تفاعل کی سعت دوسرے تفاعل کے دائرہ کار میں پائی جاتی ہو۔ $f \circ g$ حاصل کرنے کی خاطر ہم $g(x)$ معلوم کر کے $f(g(x))$ حاصل کرتے ہیں (شکل ۱.۲۲)۔

معین $g \circ f$ حاصل کرنے کے لئے ہم پہلے $f(x)$ اور بعد میں $g(f(x))$ حاصل کرتے ہیں۔ $g \circ f$ کا دائرہ کار ان x پر مشتمل ہو گا جن پر f کی سعت g کے دائرہ کار میں پائی جاتی ہو۔

تفاعل $f \circ g$ اور $g \circ f$ عموماً مختلف ہوں گے۔

مثال ۱.۲۶: اگر $f(x) = \sqrt{x}$ اور $g(x) = x + 1$ ہوں، درج ذیل حاصل کریں۔

ا. $(f \circ g)(x)$ ب. $(g \circ f)(x)$ ج. $(f \circ f)(x)$ د. $(g \circ g)(x)$

حل:

مرکب	دائرہ کار
$(f \circ g)(x) = f(g(x)) = \sqrt{g(x)} = \sqrt{x+1}$	$[-1, \infty)$
$(g \circ f)(x) = g(f(x)) = f(x) + 1 = \sqrt{x} + 1$	$[0, \infty)$
$(f \circ f)(x) = f(f(x)) = \sqrt{f(x)} = \sqrt{\sqrt{x}} = x^{\frac{1}{4}}$	$[0, \infty)$
$(g \circ g)(x) = g(g(x)) = g(x+1) = (x+1) + 1 = x + 2$	$(-\infty, \infty)$

یہ جاننے کے لئے کہ $f \circ g$ کا دائرہ کار کیوں $[-1, \infty)$ ہے، غور کریں کہ $g(x) = x + 1$ تمام حقیقی x کے لئے معین ہے لیکن یہ f کے دائرہ کار میں صرف $x + 1 \geq 0$ یعنی $x \geq -1$ کی صورت میں شامل ہوتا ہے۔ □

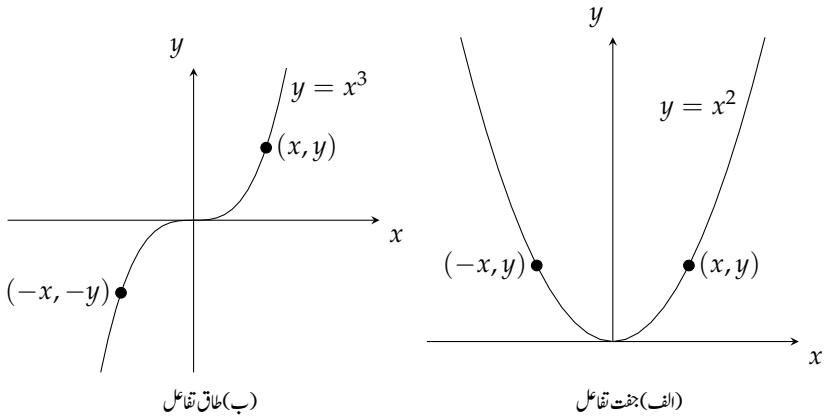

(ب) طاق تفاعل (الف) جفت تفاعل

شکل ۱.۲۳: جفت اور طاق تفاعل

جفت تفاعل اور طاق تفاعل۔ تشاکل

f کے دائرہ کار میں ہر x پر $f(-x) = f(x)$ کی صورت میں تفاعل $y = f(x)$ **جفت**[۴۸] کہلاتا ہے۔ دھیان رہے کہ x اور $-x$ دونوں کا f کے دائرہ کار میں ہونا لازمی ہے۔ تفاعل $f(x) = x^2$ جفت ہے چونکہ $f(-x) = (-x)^2 = x^2 = f(x)$ ہے۔

چونکہ $f(-x) = f(x)$ ہے لہٰذا نقطہ (x, y) اس صورت ترسیم پر پایا جائے گا جب نقطہ $(-x, y)$ بھی ترسیم پر پایا جاتا ہو۔ یوں جفت تفاعل کی ترسیم y محور کے لحاظ سے تشاکل ہو گی (شکل ۱.۲۳-الف)۔ y محور کی ایک جانب ترسیم جانتے ہوئے دوسری جانب کی ترسیم جوں کی توں بنائی جا سکتی ہے۔

f کے دائرہ کار میں ہر x پر $f(-x) = -f(x)$ کی صورت میں تفاعل $y = f(x)$ **طاق**[۴۹] کہلاتا ہے۔ دھیان رہے کہ x اور $-x$ دونوں کا f کے دائرہ کار میں ہونا لازمی ہے۔ تفاعل $f(x) = x^3$ طاق ہے چونکہ $f(-x) = (-x)^3 = -x^3 = -f(x)$ ہے۔

طاق تفاعل کی ترسیم مبدا کے لحاظ سے تشاکل ہو گی (شکل ۱.۲۳-ب)۔ چونکہ $f(-x) = -f(x)$ ہے لہٰذا نقطہ (x, y) صرف اور صرف اس صورت ترسیم پر پایا جائے گا جب نقطہ $(-x, -y)$ بھی ترسیم پر پایا جاتا ہو۔ یہاں بھی y محور کی ایک جانب ترسیم کو دیکھتے ہوئے محور کی دوسری جانب ترسیم کھینچی جا سکتی ہے۔

---

[۴۸] even
[۴۹] odd

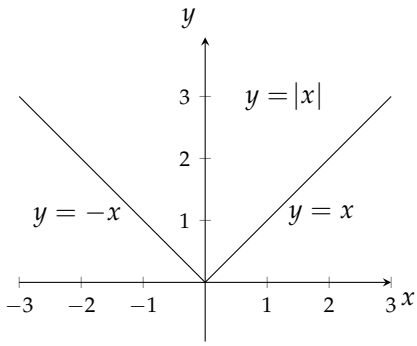

شکل ۱.۲۴: مطلق قیمت تفاعل

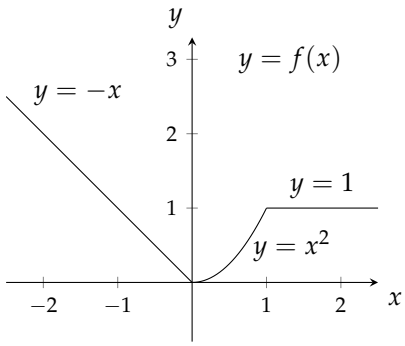

شکل ۱.۲۵: ٹکڑوں میں معین تفاعل برائے مثال ۱.۲۷

ٹکڑوں میں معین تفاعل

بعض اوقات ایک تفاعل کو اس کے دائرہ کار کے مختلف حصوں پر مختلف کلیات ظاہر کرتے ہیں۔ اس کی ایک مثال درج ذیل مطلق قیمت تفاعل ہے (شکل ۱.۲۴)۔

$$|x| = \begin{cases} x & x \geq 0 \\ -x & x < 0 \end{cases}$$

مزید مثالیں درج ذیل ہیں۔

مثال ۱.۲۷: درج ذیل تفاعل مکمل حقیقی خط پر معین ہے لیکن مختلف وقفوں پر مختلف کلیات اس کی قیمت دیتے ہیں (شکل ۱.۲۵)۔

$$f(x) = \begin{cases} -x & x < 0 \\ x^2 & 0 \leq x \leq 1 \\ 1 & x > 1 \end{cases}$$

□

مثال ۱.۲۸: بڑا ترین عدد تفاعل

ایسا تفاعل جس کی قیمت کسی بھی عدد x پر وہ بڑا ترین عدد ہو جو x کے برابر یا اس سے کم ہو **بڑا ترین عدد صحیح تفاعل**[50] یا **عدد صحیح زمینی تفاعل**[51] کہلاتا جس کو $\lfloor x \rfloor$ سے ظاہر کیا جاتا ہے (شکل ۱.۲۶)۔ آپ دیکھ سکتے ہیں کہ درج ذیل ہوں گے۔

$$\begin{array}{llll} \lfloor 2.4 \rfloor = 2, & \lfloor 1.9 \rfloor = 1, & \lfloor 0 \rfloor = 0, & \lfloor -1.2 \rfloor = -2 \\ \lfloor 2 \rfloor = 2, & \lfloor 0.2 \rfloor = 0, & \lfloor -0.3 \rfloor = -1, & \lfloor -2 \rfloor = -2 \end{array}$$

[50] greatestintegerfunction
[51] integerfloorfunction

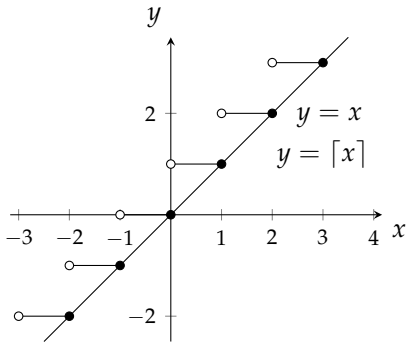

شکل ۱.۲۷: عدد صحیح چھت تفاعل (مثال ۱.۲۹)

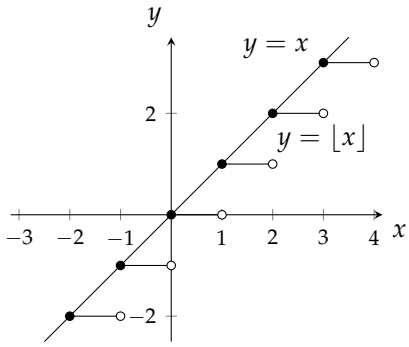

شکل ۱.۲۶: عدد صحیح زمین تفاعل (مثال ۱.۲۸)

□

مثال ۱.۲۹: ایسا تفاعل جس کی قیمت کسی بھی عدد x پر وہ کم ترین عدد ہو جو x کے برابر یا اس سے زیادہ ہو **کم ترین عدد صحیح تفاعل**[۵۲] یا **عدد صحیح چھت تفاعل**[۵۳] کہلاتا ہے جس کو $\lceil x \rceil$ سے ظاہر کیا جاتا ہے (شکل ۱.۲۶)۔ اس کی مثال ٹیکسی کا کرایا ہے جو فی کلومیٹر واجب الادا ہوتا ہے۔ اضافی نا مکمل کلومیٹر کی صورت میں مکمل کلومیٹر کا کرایا واجب الادا ہوتا ہے۔ یوں 17.2 کلومیٹر فاصلہ طے کرنے کی صورت میں 18 کلومیٹر کا کرایا واجب الادا ہو گا۔ یوں درج ذیل ہوں گے۔

$$\begin{array}{llll} \lceil 3.2 \rceil = 4, & \lceil 2.9 \rceil = 3, & \lceil 0 \rceil = 0, & \lceil 2 \rceil = 2, \\ \lceil -5 \rceil = -5, & \lceil -5.6 \rceil = -5, & \lceil -0.9 \rceil = 0, & \lceil -7.2 \rceil = -7 \end{array}$$

□

سوالات

سوال ۱.۱۰۳ تا سوال ۱.۱۰۸ میں تفاعل کا دائرہ کار اور اس کی سعت تلاش کریں۔

سوال ۱.۱۰۳: $f(x) = 1 + x^2$

سوال ۱.۱۰۴: $f(x) = 1 - \sqrt{x}$

سوال ۱.۱۰۵: $F(t) = \frac{1}{\sqrt{t}}$

سوال ۱.۱۰۶: $F(t) = \frac{1}{1+\sqrt{t}}$

---

[۵۲] leastintegerfunction
[۵۳] integerceilingfunction

(ب) (الف)

شکل ۱.۲۸: اشکال برائے سوال ۱.۱۰۹

(ب) (الف)

شکل ۱.۲۹: اشکال برائے سوال ۱.۱۱۰

سوال ۱.۱۰۷: $g(z) = \sqrt{4 - z^2}$

سوال ۱.۱۰۸: $g(z) = \frac{1}{\sqrt{4-z^2}}$

سوال ۱.۱۰۹: شکل ۱.۲۸ میں کون سی ترسیم x کے تفاعل کی ترسیم ہے اور کون سی ترسیم x کے تفاعل کی ترسیم نہیں ہے۔ اپنی جواب کی وجہ پیش کریں۔

سوال ۱.۱۱۰: شکل ۱.۲۹ میں کون سی ترسیم x کے تفاعل کی ترسیم ہے اور کون سی ترسیم x کے تفاعل کی ترسیم نہیں ہے۔ اپنی جواب کی وجہ پیش کریں۔

تفاعل کا کلیہ اخذ کرنا

سوال ۱.۱۱۱: متوازی الاضلاع مثلث کے رقبہ اور محیط کو ضلع کی لمبائی x کا تفاعل لکھیں۔

سوال ۱.۱۱۲: چوکور کے وتر کی لمبائی d کی صورت میں چوکور کے ضلع کی لمبائی لکھیں۔ اب چوکور کے رقبہ کو d کا تفاعل لکھیں۔

سوال ۱.۱۱۳: مکعب کے ضلع کی لمبائی کو مکعب کی وتری لمبائی d کی صورت میں لکھیں۔ مکعب کا سطحی رقبہ اور حجم کو d کا تفاعل لکھیں۔

$$x = \frac{d}{\sqrt{3}}, \quad A = 2d^2, \quad V = \frac{d^3}{3\sqrt{3}}$$

سوال ۱.۱۱۴: ربع اول میں نقطہ N تفاعل $f(x) = \sqrt{x}$ کی ترسیم پر پایا جاتا ہے۔ N کے محدد کو مبدا سے N تک خط کے ڈھلوان کا تفاعل لکھیں۔

تفاعل اور ترسیم

سوال ۱.۱۱۵ تا سوال ۱.۱۲۶ میں دیے تفاعل ترسیم کریں۔ ان میں کونسا تشاکل پایا جاتا ہے (اگر پایا جاتا ہو تب)۔ اشکال ۱.۲۱ میں دی ترسیم کا سہارا لیا جا سکتا ہے۔

سوال ۱.۱۱۵: $y = -x^3$

سوال ۱.۱۱۶: $y = -\frac{1}{x^2}$

سوال ۱.۱۱۷: $y = -\frac{1}{x}$

سوال ۱.۱۱۸: $y = \frac{1}{|x|}$

سوال ۱.۱۱۹: $y = \sqrt{|x|}$

سوال ۱.۱۲۰: $y = \sqrt{-x}$

سوال ۱.۱۲۱: $y = \frac{x^3}{8}$

سوال ۱.۱۲۲: $y = -4\sqrt{x}$

سوال ۱.۱۲۳: $y = -x^{\frac{3}{2}}$

سوال ۱.۱۲۴: $y = (-x)^{\frac{3}{2}}$

سوال ۱.۱۲۵: $y = (-x)^{\frac{2}{3}}$

سوال ۱.۱۲۶: $y = -x^{\frac{2}{3}}$

سوال ۱.۱۲۷: (الف) $|y| = x$ اور (ب) $y^2 = x^2$ ترسیم کریں۔ یہ مساوات x کے تفاعل کو ظاہر نہیں کرتی ہیں۔ تفاعل نہ ہونے کی وجہ پیش کریں۔

سوال ۱.۱۲۸: (الف) $|x| + |y| = 1$ اور (ب) $|x + y| = 1$ ترسیم کریں۔ یہ x کے تفاعل کو ظاہر نہیں کرتی ہیں۔ وجہ پیش کریں۔

جفت اور طاق تفاعل

سوال ۱.۱۲۹ تا سوال ۱.۱۴۰ میں کون سا تفاعل جفت، کون سا طاق اور کون سا نہ طاق اور نہ ہی جفت ہیں؟

سوال ۱.۱۲۹: $f(x) = 3$

۷۹۷ سوال ۱.۱۳۰: $f(x) = x^{-5}$

۷۹۸ سوال ۱.۱۳۱: $f(x) = x^2 + 1$

۷۹۹ سوال ۱.۱۳۲: $f(x) = x^2 + x$

۸۰۰ سوال ۱.۱۳۳: $g(x) = x^3 + x$

۸۰۱ سوال ۱.۱۳۴: $g(x) = x^4 + 3x^2 - 1$

۸۰۲ سوال ۱.۱۳۵: $g(x) = \frac{1}{x^2-1}$

۸۰۳ سوال ۱.۱۳۶: $g(x) = \frac{x}{x^2-1}$

۸۰۴ سوال ۱.۱۳۷: $h(t) = \frac{1}{t-1}$

۸۰۵ سوال ۱.۱۳۸: $h(t) = \left|t^3\right|$

۸۰۶ سوال ۱.۱۳۹: $h(t) = 2t + 1$

۸۰۷ سوال ۱.۱۴۰: $h(t) = 2|t| + 1$

۸۰۸

۸۰۹ **مجموعے، تفریق، حاصل ضرب اور حاصل تقسیم**

۸۱۰ سوال ۱.۱۴۱ تا سوال ۱.۱۴۲ میں f ، g ، $f + g$ اور $f \cdot g$ کے دائرہ کار اور سعت تلاش کریں۔

۸۱۱ سوال ۱.۱۴۱: $f(x) = x, \quad g(x) = \sqrt{x-1}$

۸۱۲

۸۱۳ سوال ۱.۱۴۲: $f(x) = \sqrt{x+1}, \quad g(x) = \sqrt{x-1}$

۸۱۴ سوال ۱.۱۴۳ تا سوال ۱.۱۴۴ میں f ، g ، $\frac{f}{g}$ اور $\frac{g}{f}$ کے دائرہ کار اور سعت تلاش کریں۔

۸۱۵ سوال ۱.۱۴۳: $f(x) = 2, \quad g(x) = x^2 + 1$

۸۱۶ سوال ۱.۱۴۴: $f(x) = 1, \quad g(x) = 1 + \sqrt{x}$

۸۱۷

۸۱۸ **تفاعل کے مرکب**

۸۱۹

۸۲۰ سوال ۱.۱۴۵: اگر $f(x) = x + 5$ اور $g(x) = x^2 - 3$ ہوں تب درج ذیل حاصل کریں۔

۸۲۱ ا. $f(g(0))$ ۸۲۳ ج. $f(g(x))$ ۸۲۵ ھ. $f(f(-5))$ ۸۲۷ ز. $f(f(x))$

۸۲۲ ب. $g(f(0))$ ۸۲۴ د. $g(f(x))$ ۸۲۶ و. $g(g(2))$ ۸۲۸ ح. $g(g(x))$

۸۲۹ سوال ۱.۱۴۶: اگر $f(x) = x - 1$ اور $g(x) = \frac{1}{x+1}$ ہوں تب درج ذیل تلاش کریں۔

۸۳۰ ا. $f(g(\frac{1}{2}))$ ۸۳۲ ج. $f(g(x))$ ۸۳۴ ھ. $f(f(2))$ ۸۳۶ ز. $f(f(x))$

۸۳۱ ب. $g(f(\frac{1}{2}))$ ۸۳۳ د. $g(f(x))$ ۸۳۵ و. $g(g(2))$ ۸۳۷ ح. $g(g(x))$

۸۳۸ سوال ۱.۱۴۷: اگر $u(x) = 4x - 5$ ، $v(x) = x^2$ اور $f(x) = \frac{1}{x}$ ہوں تب درج ذیل تلاش کریں۔

۸۳۹ ا. $u(v(f(x)))$ ۸۴۱ ج. $v(u(f(x)))$ ۸۴۳ ھ. $f(u(v(x)))$

۸۴۰ ب. $u(f(v(x)))$ ۸۴۲ د. $v(f(u(x)))$ ۸۴۴ و. $f(v(u(x)))$

۸۴۵ سوال ۱.۱۴۸: اگر $f(x) = \sqrt{x}$ ، $g(x) = \frac{x}{4}$ اور $h(x) = 4x - 8$ ہوں تب درج ذیل تلاش کریں۔

۸۴۶ ا. $h(g(f(x)))$ ۸۴۸ ج. $g(h(f(x)))$ ۸۵۰ ھ. $f(g(h(x)))$

۸۴۷ ب. $h(f(g(x)))$ ۸۴۹ د. $g(f(h(x)))$ ۸۵۱ و. $f(h(g(x)))$

۸۵۲ سوال ۱.۱۴۹ ا اور سوال ۱.۱۴۹ میں $f(x) = x - 3$ ، $g(x) = \sqrt{x}$ ، $h(x) = x^3$ اور $j(x) = 2x$ لیں۔ سوال کے ہر جزو کو
۸۵۳ تفاعل کا مرکب لکھیں۔ مرکب میں f ، g ، h اور j میں سے ایک یا ایک سے زیادہ تفاعل ہو سکتے ہیں۔

۸۵۴ سوال ۱.۱۴۹:

۸۵۵ ا. $y = \sqrt{x} - 3$ ۸۵۷ ج. $y = x^{\frac{1}{4}}$ ۸۵۸ د. $y = 4x$ ۸۵۹ ھ. $y = \sqrt{(x-3)^3}$

۸۵۶ ب. $y = 2\sqrt{x}$ ۸۶۰ و. $y = (2x-6)^3$

۸۶۱ سوال ۱.۱۵۰:

۸۶۲ ا. $y = 2x - 3$ ۸۶۳ ب. $y = x^{\frac{3}{2}}$ ۸۶۴ ج. $y = x^9$ ۸۶۶ ھ. $y = 2\sqrt{x-3}$

۸۶۵ د. $y = x - 6$ ۸۶۷ و. $y = \sqrt{x^3 - 3}$

۸۶۸ سوال ۱.۱۵۱: درج ذیل جدول مکمل کریں۔

	$g(x)$	$f(x)$	$(f \circ g)(x)$
(الف)	$x - 7$	$\sqrt{x}$	
(ب)	$x + 2$	$3x$	
(ج)		$\sqrt{x-5}$	$\sqrt{x^2-5}$
(د)	$\frac{x}{x-1}$	$\frac{x}{x-1}$	
(ہ)	$\frac{1}{x-1}$	$1 + \frac{1}{x}$	
(و)	$\frac{1}{x}$		x

سوال ۱.۱۵۲: کوئی عدد x لیں۔ اس کے ساتھ 5 جمع کریں۔ نتیجہ کو دگنا کر کے اس سے 6 منفی کریں۔ نتیجہ کو 2 سے تقسیم کریں۔ جواب کیا حاصل ہوتا ہے؟

ٹکڑوں میں معین تفاعل

سوال ۱.۱۵۳ تا سوال ۱.۱۵۶ میں تفاعل ترسیم کریں۔

سوال ۱.۱۵۳:

$$f(x) = \begin{cases} x, & 0 \leq x \leq 1 \\ 2 - x, & 1 \leq x \leq 2 \end{cases}$$

سوال ۱.۱۵۴:

$$g(x) = \begin{cases} 1 - x, & 0 \leq x \leq 1 \\ 2 - x, & 1 \leq x \leq 2 \end{cases}$$

سوال ۱.۱۵۵:

$$F(x) = \begin{cases} 3 - x, & x \leq 1 \\ 2x, & x > 1 \end{cases}$$

سوال ۱.۱۵۶:

$$G(x) = \begin{cases} \frac{1}{x}, & x < 0 \\ x, & 0 \leq x \end{cases}$$

سوال ۱.۱۵۷: شکل ۱.۳۰ میں دیے تفاعل کی مساوات تلاش کریں۔

سوال ۱.۱۵۸: شکل ۱.۳۱ میں دیے تفاعل کی مساوات تلاش کریں۔

عدد صحیح چھتے اور زینے تفاعل

سوال ۱.۱۵۹: x کی کن قیمتوں کے لئے (الف) $\lfloor x \rfloor = 0$ ہوگا؟ (ب) $\lceil x \rceil = 0$ ہوگا؟

سوال ۱.۱۶۰: کون سے عدد صحیح x مساوات $\lfloor x \rfloor = \lceil x \rceil$ کو مطمئن کرتے ہیں؟

سوال ۱.۱۶۱: کیا تمام x کے لئے $\lceil x \rceil = \lfloor x \rfloor$ ہوگا؟ اپنے جواب کی وجہ پیش کریں۔

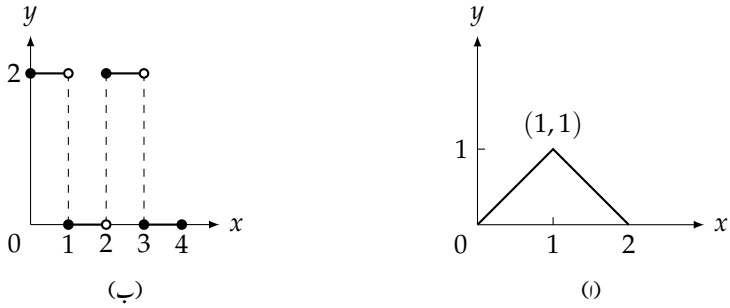

شکل ۱.۳۰: اشکال برائے سوال ۱.۱۵۷

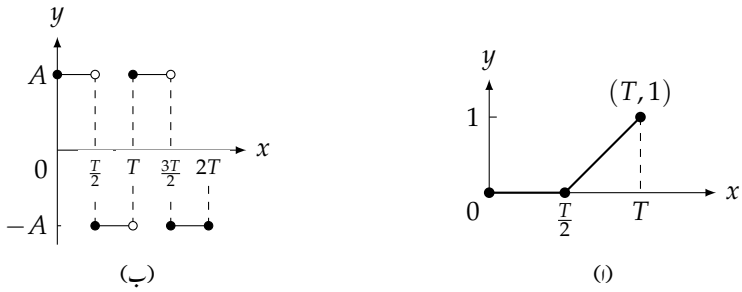

شکل ۱.۳۱: اشکال برائے سوال ۱.۱۵۸

سوال ۱.۱۶۲: درج ذیل تفاعل ترسیم کریں۔ $f(x)$ کو x کا عدد صحیح حصہ کیوں کہتے ہیں۔

$$f(x) = \begin{cases} ||\lfloor x \rfloor||, & x \geq 0 \\ ||\lceil x \rceil||, & x < 0 \end{cases}$$

جفت اور طاق تفاعل

سوال ۱.۱۶۳: فرض کریں کہ f جفت تفاعل اور g طاق تفاعل ہیں اور دونوں تفاعل مکمل حقیقی خط $\Re$ پر معین ہیں۔ درج ذیل میں سے کون سے تفاعل (جب معین ہوں تب) جفت ہیں اور کون سے طاق ہیں؟

ا. fg

ب. $\frac{f}{g}$

ج. $\frac{g}{f}$

د. $f^2 = ff$

ھ. $g^2 = gg$

و. $f \circ g$

ز. $g \circ f$

ح. $f \circ f$

ط. $g \circ g$

سوال ۱.۱۶۴: کیا ایک تفاعل جفت اور طاق دونوں ہو سکتا ہے؟ جواب کی وجہ بیان کریں۔

ترسیم

سوال ۱.۱۶۵: تفاعل $f(x) = \sqrt{x}$ اور $g(x) = \sqrt{1-x}$ ترسیم کریں۔ ساتھ ہی ان کا (الف) مجموعہ (ب) حاصل ضرب (پ) دونوں فرق اور (ت) دونوں حاصل تقسیم بھی ترسیم کریں۔

سوال ۱.۱۶۶: فرض کریں کہ $f(x) = x - 7$ اور $g(x) = x^2$ ہیں۔ f اور g کے ساتھ $f \circ g$ اور $g \circ f$ بھی ترسیم کریں۔

۱.۴ ترسیم کی منتقلی

اس حصہ میں مساوات کو یوں تبدیل کرنا سیکھتے ہیں کہ اس کی ترسیم دائیں، بائیں، اوپر یا نیچے منتقل ہو۔ ایسا کرنے سے نئے مقام پر جانی پہچانی ترسیم کو جلد پہچاننے میں مدد ملتی ہے۔ اسی طرح غیر جانی پہچانی مساوات کی ترسیم بنانے میں بھی مدد مل سکتی ہے۔ ہم دائرہ اور قطع مکافی کو مثال بناتے ہوئے اس عمل کو سیکھتے ہیں۔ یہ عمل ہر منحنی پر قابل لاگو ہے۔

ترسیم کیسے منتقل کی جاتی ہے

تفاعل $y = f(x)$ کی ترسیم کو اوپر منتقل کرنے کی خاطر کلیہ $y = f(x)$ کے دائیں ہاتھ کے ساتھ مستقل جمع کیا جاتا ہے۔

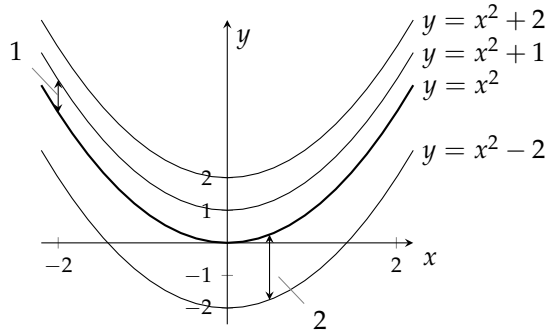

شکل ۱.۳۲: تفاعل $f(x) = x^2$ کی منحنی اوپر (نیچے) منتقل کرنے کی خاطر کلیہ کے دائیں ہاتھ مثبت (منفی) مستقل جمع کریں (مثال ۱.۳۰ اور مثال ۱.۳۱)۔

مثال ۱.۳۰: کلیہ $y = x^2$ کے دائیں ہاتھ کے ساتھ 1 جمع کرنے سے $y = x^2 + 1$ حاصل ہوتا ہے جو منحنی کو 1 اکائی اوپر منتقل کرتا ہے (شکل ۱.۳۲)۔ □

مثال ۱.۳۱: مساوات $y = x^2$ کے دائیں ہاتھ کے ساتھ -2 جمع کرنے سے $y = x^2 - 2$ ملتا ہے جو ترسیم کو 2 اکائیاں نیچے منتقل کرتی ہے (شکل ۱.۳۲)۔ □

مثال ۱.۳۲: $y = x^2$ میں x کے ساتھ 3 جمع کرتے ہوئے ترسیم 3 اکائیاں بائیں منتقل ہوتی ہے (شکل ۱.۳۳)۔ □

$y = f(x)$ کی ترسیم کی دائیں منتقلی کے لئے x کے ساتھ منفی مستقل جمع کریں۔

مثال ۱.۳۳: $y = x^2$ میں x کے ساتھ -2 جمع کرنے سے $y = (x-2)^2$ حاصل ہوتا ہے جو ترسیم کو 2 اکائیاں دائیں منتقل کرتا ہے (شکل ۱.۳۳)۔ □

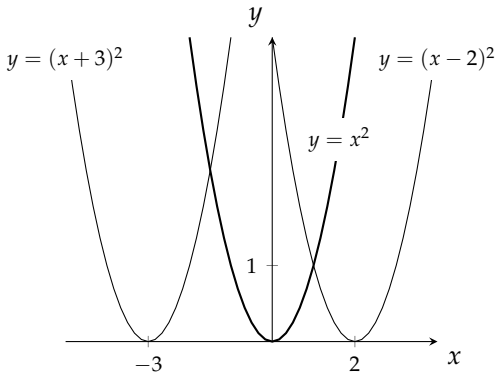

شکل ۱.۳۳: $y = x^2$ کی ترسیم کی دائیں منتقلی کی خاطر x کے ساتھ مثبت مستقل جمع کریں۔ دائیں منتقلی کی خطر منفی مستقل جمع کریں۔ (مثال ۱.۳۲ اور مثال ۱.۳۳)

۹۲۱ منتقلی کے کلیات

انتصابی منتقلی
$$y = f(x) + k$$

۹۲۲ $k > 0$ کی صورت میں ترسیم k اکائیاں اوپر منتقل ہوتی ہے جبکہ $k < 0$ کی صورت میں ترسیم $|k|$ اکائیاں نیچے منتقل ہوتی ہے۔

افقی منتقلی
$$y = f(x - h)$$

۹۲۳ $h > 0$ کی صورت میں ترسیم h اکائیاں دائیں منتقل ہوتی ہے جبکہ $h < 0$ کی صورت میں ترسیم $|h|$ اکائیاں بائیں منتقل ہوتی ہے۔

۹۲۴ مثال ۱.۳۴: $y = (x-2)^2 + 3$ تفاعل $y = x^2$ کی ترسیم کو 3 اکائیاں اوپر اور 2 اکائیاں دائیں منتقل کرتی ہے۔ □

۹۲۵ مساوات دائرہ

۹۲۶ ایک مستوی میں رہتے ہوئے اس مستوی میں کسی مقررہ نقطہ سے مستقل فاصلے پر تمام نقطوں کے سلسلہ کو **دائرہ**[۵۴] کہتے ہیں۔ اس مقررہ نقطہ کو دائرے کا
۹۲۷ **مرکز**[۵۵] کہتے ہیں جبکہ اس مستقل فاصلہ کو **رداس**[۵۶] کہتے ہیں۔ (شکل ۱.۳۴)۔ ہم نے مثال ۱.۱۱ میں دیکھا کہ مبدا کے گرد رداس a کے دائرے کی مساوات
۹۲۸ $x^2 + y^2 = a^2$ ہے۔ مرکز کو (h, k) منتقل کرتے ہوئے دائرے کی مساوات $(x-h)^2 + (y-k)^2 = a^2$ حاصل ہوتی ہے۔

۹۲۹ **رداس a کا دائرہ جس کا مرکز (h, k) ہو، کی معیاری مساوات**

$$(x-h)^2 + (y-k)^2 = a^2 \tag{۱}$$

---

[۵۴] circle
[۵۵] center
[۵۶] radius

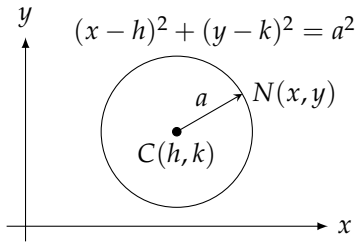

شکل ۱.۳۴: xy مستوی میں h, k کے گرد رداس a کا دائرہ

مثال ۱.۳۵: دائرہ $x^2+y^2=25$ کو 2 اکائیاں بائیں اور 3 اکائیاں اوپر منتقل کیا جاتا ہے۔ نئی مساوات $(x+2)^2+(y-3)^2=25$ ہو گی۔ اس کا مرکز $(-2,3)$ ہو گا۔ □

مثال ۱.۳۶: رداس 2 کا دائرہ جس کا مرکز $3,4$ پر ہو کی مساوات درج ذیل ہے۔

$$(x-3)^2+(y-4)^2=2^2$$

□

مثال ۱.۳۷: درج ذیل دائرے کی مرکز اور رداس تلاش کریں۔

$$(x-1)^2+(y+5)^2=3$$

حل: اس کا دائرے کی معیاری مساوات کے ساتھ موازنہ کرتے ہوئے رداس $a=\sqrt{3}$ اور مرکز $(h,k)=(1,-5)$ لکھے جا سکتے ہیں۔ □

کمپیوٹر چوکور نقش

چوکور نقش سے مراد ایسا نقش ہے جس میں افقی اور انتصابی محدد کی پیمائش ایک سی ہو۔ چوکور نقش میں تفاعل کی اصل صورت نظر آتی ہے۔ غیر چوکور نقش میں ترسیم کی شکل بگڑ جاتی ہے۔ چوکور نقش سے مراد کمپیوٹر کا شیشہ نہیں ہے۔ بعض اوقات مکمل ترسیم یا ترسیم کا بیشتر حصہ دکھانے کی خاطر کمپیوٹر ریاضیاتی پروگرام x اور y محدد کی پیمائش غیر یکساں کرتے ہیں۔ یوں دکھائی گئی ترسیم اصل صورت پیش نہیں کرے گی۔ عموماً کمپیوٹر پروگرام کو بتلایا جا سکتا ہے کہ وہ چوکور ترسیم ہی دکھائے۔ شکل ۱.۳۵ میں چوکور اور غیر چوکور نقش پر دائرہ اور آپس میں قائمہ خطوط دکھائے گئے ہیں۔ آپ دیکھ سکتے ہیں کہ غیر چوکور نقش غیر یقینی اشکال پیش کرتا ہے اور اس پر کھڑی نظر رکھنا ضروری ہے۔

اگر دائرے کی مساوات معیاری صورت میں نہ دی گئی ہو تب ہم مربع مکمل کرتے ہوئے معیاری مساوات حاصل کر سکتے ہیں۔

مثال ۱.۳۸: درج ذیل دائرہ کا رداس اور مرکز تلاش کریں۔

$$x^2+y^2+4x-6y-3=0$$

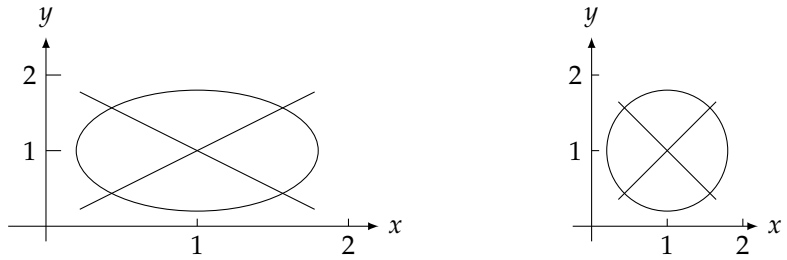

(ا) چوکور نقش میں اصل صورت نظر آتی ہے (ب) غیر چوکور نقش میں اصل صورت نظر نہیں آتی ہے

شکل ۱.۳۵: چوکور اور غیر چوکور نقش

۹۴۵ حل: ہم مربع مکمل کرتے ہیں۔

$$\begin{aligned} x^2+y^2+4x-6y-3&=0\\ x^2+4x+y^2-6y&=3\\ x^2+4x+4-4+y^2-6y+9-9&=3\\ (x+2)^2-4+(y-3)^2-9&=3\\ (x+2)^2+(y-3)^2&=16=4^2 \end{aligned}$$

۹۴۶ یوں رداس $a=4$ اور مرکز $(h,k)=(-2,3)$ ہیں۔ □

۹۴۷ **اندرون اور بیرون**

۹۴۸ دائرہ $(x-h)^2+(y-k)^2=a^2$ کے اندر وہ نقطے پائے جاتے ہیں جن کا (h,k) سے فاصلہ a اکائیوں سے کم ہو۔ یہ نقطے درج ذیل
۹۴۹ عدم مساوات کو مطمئن کرتے ہیں۔

$$(x-h)^2+(y-k)^2<a^2$$

۹۵۰ اس خطہ کو دائرے کا **اندرون**[۵۷] کہتے ہیں (شکل ۱.۳۶)۔

۹۵۱ دائرے کی **بیرون**[۵۸] ان نقطوں پر مشتمل ہو گا جن کا (h,k) سے فاصلہ a اکائیوں سے زیادہ ہو۔ ایسے نقطے درج ذیل مساوات مطمئن کرتے ہیں۔

$$(x-h)^2+(y-k)^2>a^2$$

۹۵۲

---

[۵۷] interior
[۵۸] exterior

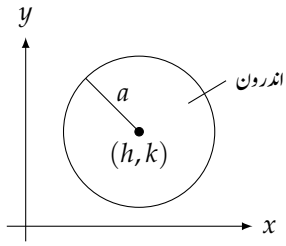

شکل ۱.۳۶: دائرے کا اندرون

۹۵۳ مثال ۱.۳۹:

خطہ	عدم مساوات
اکائی دائرے کا اندرون	$x^2 + y^2 < 1$
اکائی دائرہ اور اس کا اندرون	$x^2 + y^2 \leq 1$
اکائی دائرے کی بیرون	$x^2 + y^2 > 1$
اکائی دائرہ اور اس کی بیرون	$x^2 + y^2 \geq 1$

۹۵۴ □

۹۵۵ قطع مکافی ترسیم

۹۵۶ مساوات $y = 3x^2$ یا $y = -5x^2$ جن کی عمومی صورت درج ذیل ہے

$$y = ax^2$$

۹۵۷ کی ترسیم کو **قطع مکافی**[۵۹] کہتے ہیں جس کی **محور**[۶۰] تشاکل y محور ہے۔ اس قطع مکافی کا **راس**[۶۱] (جہاں قطع مکافی اور محور ایک دوسرے کو قطع کرتے ہیں) مبدا
۹۵۸ پر پائی جاتی ہے۔ مثبت a $(a > 0)$ کی صورت میں قطع مکافی اوپر رخ کھلتا ہے جبکہ منفی a $a < 0$ کی صورت میں قطع مکافی نیچے کو کھلتا ہے۔ $|a|$
۹۵۹ کی قیمت جتنی زیادہ ہو قطع مکافی اتنا تنگ ہو گا (شکل ۱.۳۷)۔

۹۶۰ کلیہ $y = ax^2$ میں x اور y آپس میں ادل بدل کرنے سے درج ذیل کلیہ حاصل ہو گا۔

$$x = ay^2$$

۹۶۱ اس قطع مکافی کی ترسیم کا محور، x محور ہو گا اور اس کا راس مبدا پر پایا جائے گا (شکل ۱.۳۸)۔

---

[۵۹] parabola
[۶۰] axis
[۶۱] vertex

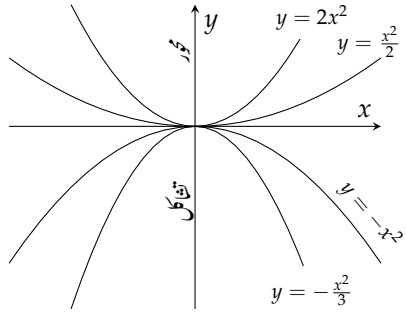

شکل ۱.۳۷: قطع مکافی $y = ax^2$

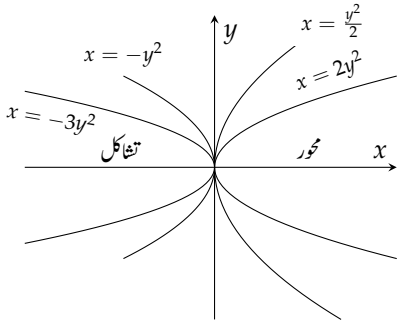

شکل ۱.۳۸: قطع مکافی $x = ay^2$

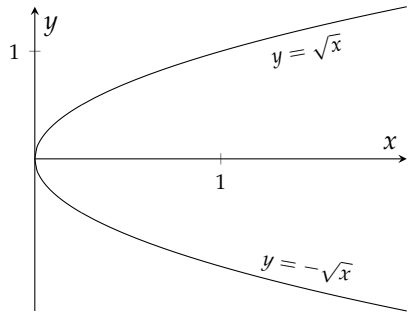

شکل ۱.۳۹: تفاعل $y = \sqrt{x}$ اور $y = -\sqrt{x}$ کی ترسیمات مبدا پر ملتی ہیں اور مساوات $x = y^2$ کی ترسیم دیتی ہیں (مثال ۱.۴۰)

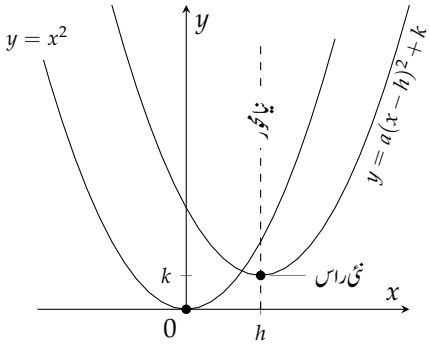

شکل ۱.۴۰: قطع مکافی $y = ax^2,\ a > 0$ کو h اکائیاں دائیں اور k اکائیاں اوپر منتقل کیا گیا ہے

مثال ۱.۴۰: کلیہ $x = y^2$ ہمیں x بطور y کا تفاعل دیتا ہے لیکن یہ ہمیں y بطور x کا تفاعل نہیں دیتا۔ y کے لئے حل کرتے ہوئے $y = \mp\sqrt{x}$ حاصل ہوتا ہے جو ہر مثبت x کے لئے y کی دو قیمتیں دیتا ہے جبکہ تفاعل کی تعریف کی رو سے اس کو صرف ایک قیمت دینی چاہیے۔

ان مساوات کو دو علیحدہ علیحدہ تفاعل $y = \sqrt{x}$ اور $y = -\sqrt{x}$ تصور کیا جا سکتا ہے چونکہ اب ہر مثبت x کے لئے یہ کلیات y کی ایک قیمت دیتے ہیں۔ $y = \sqrt{x}$ کی ترسیم قطع مکافی کا بالائی حصہ اور $y = -\sqrt{x}$ قطع مکافی کا نچلا حصہ دیتی ہے (شکل ۱.۳۹)۔

□

دو درجی مساوات $y = ax^2 + bx + c,\ a \neq 0$

قطع مکافی $y = ax^2$ کو دائیں یا بائیں منتقل کرنے کی خاطر ہم

$$y = a(x-h)^2 \tag{۲}$$

لکھتے ہیں اور اس کو انتصابی بھی منتقل کرنے کی خاطر ہم

$$y - k = a(x-h)^2 \tag{۳}$$

لکھتے ہیں۔ دونوں منتقلی سے قطع مکافی کا راس (h,k) کو منتقل ہوتا ہے جبکہ اس کا محور $x = k$ ہو گا (شکل ۱.۴۰)۔

مساوات ۳ کے دائیں ہاتھ کو کھول کر لکھنے سے درج ذیل صورت کی مساوات حاصل ہوتی ہے

$$y = ax^2 + bx + c \tag{۴}$$

جس سے ہمیں معلوم ہوتا ہے کہ $y = ax^2 + bx + c,\ a \neq 0$ طرز کی ہر مساوات کی ترسیم درحقیقت $y = ax^2$ کی ترسیم ہو گی جو کہیں اور منتقل کی گئی ہے۔ کیوں؟ اس لئے کہ جس طرح مساوات ۳ سے مساوات ۴ حاصل کی گئی اسی طرح مساوات ۴ سے واپس مساوات ۳ بھی حاصل کی جا سکتی ہے۔ منحنی $y = ax^2 + bx + c$ اور $y = ax^2$ کی صورتیں ایک سی اور سمت بندی ایک سی ہیں۔

قطع مکافی $y = ax^2 + bx + c$ کا محور خط $x = -\frac{b}{2a}$ ہو گا۔ اس کا قطع y حاصل کرنے کی خاطر $x = 0$ پُر کیا جائے گا۔

منحنی $y = ax^2 + bx + c,\ a \neq 0$ کی ترسیم مساوات $y = ax^2 + bx + c$ کی ترسیم قطع مکافی ہے جو $a > 0$ کی صورت میں اوپر رخ اور $a < 0$ کی صورت میں نیچے رخ کھلتی ہے۔ اس کا محور درج ذیل خط ہے۔

$$x = -\frac{b}{2a} \tag{۵}$$

اس کا راس اس نقطے پر ہو گا جہاں قطع مکافی اور محور آپس میں ملتے ہوں۔ راس کا x محدد $x = -\frac{b}{2a}$ ہو گا جس کو قطع مکافی کی مساوات میں پر کرتے ہوئے راس کا y محدد حاصل کیا جا سکتا ہے۔

مثال ۱.۴۱: ترسیم قطع مکافی

مساوات $y = -\frac{1}{2}x^2 - x + 4$ ترسیم کریں۔

حل: **پہلا قدم:** مساوات $y = ax^2 + bx + c$ کے ساتھ موازنہ کرتے ہوئے درج ذیل لکھا جا سکتا ہے۔

$$a = -\frac{1}{2}, \quad b = -1, \quad c = 4$$

دوسرا قدم: چونکہ $a < 0$ ہے لہٰذا قطع مکافی نیچے کھلا ہے۔

تیسرا قدم: قطع مکافی کا محور اور راس تلاش کرتے ہیں۔ اس کا محور درج ذیل خط ہے۔

$$x = -\frac{b}{2a} = -\frac{(-1)}{2(-\frac{1}{2})} = -1$$

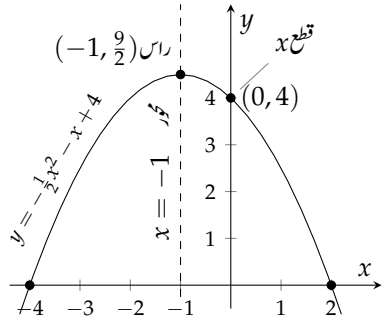

شکل ۱.۴۱: ترسیم قطع مکافی (مثال ۱.۴۱)

۹۸۵ یوں راس کا x محدد -1 ہے جس کو دی گئی مساوات میں پر کرتے ہوئے راس کا y محدد حاصل کرتے ہیں۔

$$y = -\frac{1}{2}(-1)^2 - (-1) = \frac{9}{2}$$

۹۸۶ اس طرح راس $(-1, \frac{9}{2})$ ہوگا۔

۹۸۷ **چوتھا قدم:** قطع x (اگر پایا جاتا ہو) تلاش کرتے ہیں۔

$$-\frac{1}{2}x^2 - x + 4 = 0 \qquad \text{قطع مکافی کی مساوات میں } y = 0 \text{ پر کریں}$$

$$x^2 + 2x - 8 = 0 \qquad \text{دو درجی مساوات کو کسی بھی طریقہ سے حل کریں} \quad (x-2)(x+4) = 0$$

$$x = 2, \quad x = -4$$

۹۸۸ **پانچواں قدم:** $y = ax^2$ کا خاکہ بناتے ہوئے منتقلی اور تشاکل کے اصول استعمال کریں۔ xy محور بھی کھینچیں (شکل ۱.۴۱)۔ □

۹۸۹ **سوالات**

۹۹۰ **ترسیم کی منتقلی**

۹۹۱ سوال ۱.۱۶۷: شکل ۱.۴۲ میں $y = -x^2$ کی ترسیم اور اس کی منتقل کردہ اشکال دکھائی گئی ہیں۔ منتقل شدہ ترسیم کی مساواتیں لکھیں۔

۹۹۲ سوال ۱.۱۶۸: شکل ۱.۴۳ میں $y = x^2$ کی ترسیم اور اس کی منتقل شدہ اشکال دکھائی گئی ہیں۔ منتقل کردہ ترسیم کی مساواتیں لکھیں۔

۹۹۳ سوال ۱.۱۶۹: شکل ۱.۴۴ میں دکھائی گئی ترسیم کی مساوات کو درج ذیل سے منتخب کریں۔

$$y = (x-1)^2 - 4, \quad y = (x-2)^2 + 2, \quad y = (x+2)^2 + 2, \quad y = (x+3)^2 - 2$$

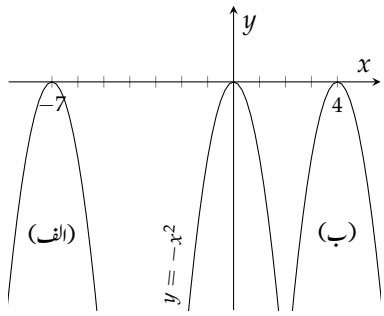

شکل ۱.۴۲: اشکال برائے سوال ۱.۱۶۷

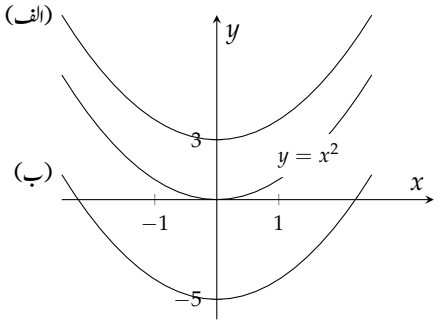

شکل ۱.۴۳: اشکال برائے سوال ۱.۱۶۸

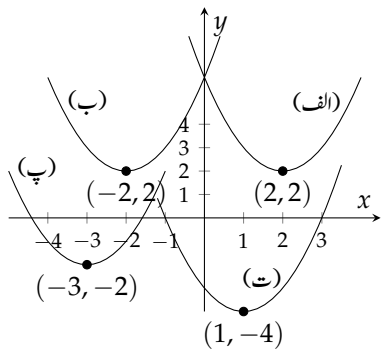

شکل ۱.۴۴: اشکال برائے سوال ۱.۱۶۹

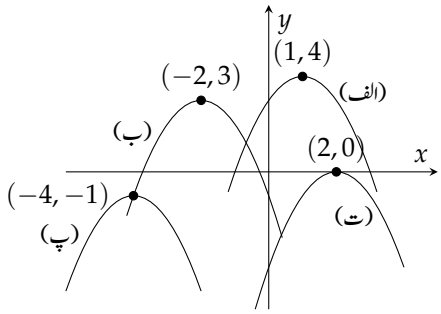

شکل ۱.۴۵: اشکال برائے سوال ۱.۱۷۰

سوال ۱.۱۷۰: شکل ۱.۴۵ میں $y = -x^2$ کو چار جگہ منتقل دکھایا گیا ہے۔ چاروں ترسیم کی مساوات لکھیں۔

سوال ۱.۱۷۱ تا سوال ۱.۱۸۲ میں ترسیم منتقل کریں۔ منتقل شدہ ترسیم کی مساوات حاصل کریں۔ اصل اور منتقل شدہ ترسیمات کھینچیں۔

سوال ۱.۱۷۱: $x^2 + y^2 = 49$ کو 3 نیچے، 2 بائیں منتقل کریں۔

سوال ۱.۱۷۲: $x^2 + y^2 = 25$ کو 3 اوپر، 4 بائیں منتقل کریں۔

سوال ۱.۱۷۳: $y = x^3$ کو 1 نیچے، 1 بائیں منتقل کریں۔

سوال ۱.۱۷۴: $y = x^{\frac{2}{3}}$ کو 1 نیچے، 1 دائیں منتقل کریں۔

سوال ۱.۱۷۵: $y = \sqrt{x}$ کو 0.81 بائیں منتقل کریں۔

سوال ۱.۱۷۶: $y = -\sqrt{x}$ کو 3 دائیں منتقل کریں۔

سوال ۱.۱۷۷: $y = 2x - 7$ کو 7 اوپر منتقل کریں۔

سوال ۱.۱۷۸: $y = \frac{1}{2}(x+1) + 5$ کو 5 نیچے، 1 دائیں منتقل کریں۔

سوال ۱.۱۷۹: $y = x^2$ کو 1 بائیں منتقل کریں۔

سوال ۱.۱۸۰: $x = -3y^2$ کو 2 اوپر، 3 دائیں منتقل کریں۔

سوال ۱.۱۸۱: $y = \frac{1}{x}$ کو 1 اوپر، 1 دائیں منتقل کریں۔

سوال ۱.۱۸۲: $y = \frac{1}{x^2}$ کو 1 نیچے، 2 بائیں منتقل کریں۔

سوال ۱.۱۸۳ تا سوال ۱.۲۰۲ میں تفاعل ترسیم کریں۔ صفحہ ۳۲ پر شکل ۱.۲۱ میں دی گئی ترسیم کا سہارا لیں۔

سوال ۱.۱۸۳: $y = \sqrt{x+4}$

سوال ۱.۱۸۴: $y = \sqrt{9-x}$

سوال ۱.۱۸۵: $y = |x-2|$

سوال ۱.۱۸۶: $y = |1 - x| - 1$

سوال ۱.۱۸۷: $y = 1 + \sqrt{x - 1}$

سوال ۱.۱۸۸: $y = 1 - \sqrt{x}$

سوال ۱.۱۸۹: $y = (x + 1)^{\frac{2}{3}}$

سوال ۱.۱۹۰: $y = (x - 8)^{\frac{2}{3}}$

سوال ۱.۱۹۱: $y = 1 - x^{\frac{2}{3}}$

سوال ۱.۱۹۲: $y + 4 = x^{\frac{2}{3}}$

سوال ۱.۱۹۳: $y = \sqrt[3]{x - 1} - 1$

سوال ۱.۱۹۴: $y = (x + 2)^{\frac{3}{2}} + 1$

سوال ۱.۱۹۵: $y = \frac{1}{x-2}$

سوال ۱.۱۹۶: $y = \frac{1}{x} - 2$

سوال ۱.۱۹۷: $y = \frac{1}{x} + 2$

سوال ۱.۱۹۸: $y = \frac{1}{x+2}$

سوال ۱.۱۹۹: $y = \frac{1}{(x-1)^2}$

سوال ۱.۲۰۰: $y = \frac{1}{x^2} - 1$

سوال ۱.۲۰۱: $y = \frac{1}{x^2} + 1$

سوال ۱.۲۰۲: $y = \frac{1}{(x+1)^2}$

سوال ۱.۲۰۳: شکل ۱.۴۶ میں دکھائے گئے تفاعل $f(x)$ کا دائرہ کار $[0, 2]$ ہے اور تفاعل کی سعت $[0, 1]$ ہے۔ درج ذیل تفاعل کا دائرہ کار اور تفاعل کی سعت تلاش کرتے ہوئے نئے تفاعل کا خاکہ بنائیں۔

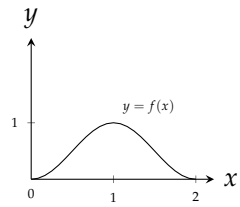

شکل ۱.۴۶: تفاعل برائے سوال ۱.۲۰۳

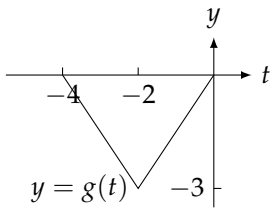

شکل ۱.۴۷: تفاعل برائے سوال ۱.۲۰۴

۱۰۵۱ ا. $f(x)+2$ ۱۰۵۳ ج. $2f(x)$ ۱۰۵۵ ھ. $f(x+2)$ ۱۰۵۷ ز. $f(-x)$

۱۰۵۲ ب. $f(x)-1$ ۱۰۵۴ د. $-f(x)$ ۱۰۵۶ و. $f(x-1)$ ۱۰۵۸ ح. $-f(x+1)+1$

۱۰۵۹ سوال ۱.۲۰۴: شکل ۱.۴۷ میں دکھائے گئے تفاعل $g(t)$ کا دائرہ کار $[-4,0]$ اور سعت $[-3,0]$ ہے۔ درج ذیل تفاعل کے دائرہ کار اور
۱۰۶۰ سعت تلاش کرتے ہوئے نئے تفاعل کا خاکہ بنائیں۔

۱۰۶۱ ا. $g(-t)$ ۱۰۶۳ ج. $g(t)+3$ ۱۰۶۵ ھ. $g(-t+2)$ ۱۰۶۷ ز. $g(1-t)$

۱۰۶۲ ب. $-g(t)$ ۱۰۶۴ د. $1-g(t)$ ۱۰۶۶ و. $g(t-2)$ ۱۰۶۸ ح. $-g(t-4)$

۱۰۶۹

۱۰۷۰ **دائرے**

۱۰۷۱

۱۰۷۲ سوال ۱.۲۰۵ تا سوال ۱.۲۱۰ میں دائرے کا رداس a اور مرکز $C(h,k)$ دیا گیا ہے۔ دائرے کی مساوات لکھیں۔ دائرہ اور دائرے کے مرکز کا xy
۱۰۷۳ مستوی میں خاکہ کھینچیں۔ دائرے کا قطع x اور قطع y (اگر پائے جاتے ہوں) کی نشاندہی کریں اور اس کے محدد لکھیں۔

۱۰۷۴ سوال ۱.۲۰۵: $C(0,2), \quad a=2$

۱۰۷۵ سوال ۱.۲۰۶: $C(-3,0), \quad a=3$

۱۰۷۶ سوال ۱.۲۰۷: $C(-1,5), \quad a=\sqrt{10}$

۱۰۷۷ سوال ۱.۲۰۸: $C(1,1), \quad a=\sqrt{2}$

۱۰۷۸ سوال ۱.۲۰۹: $C(-\sqrt{3},-2), \quad a=2$

۱۰۷۹ سوال ۱.۲۱۰: $C(3,\frac{1}{2}), \quad a=5$

۱۰۸۰

۱۰۸۱ سوال ۱.۲۱۱ تا سوال ۱.۲۱۶ میں دیے گئے دائرے ترسیم کریں۔ دائرے کا مرکز اور قطع x ، قطع y (اگر پائے جاتے ہوں) کے محدد دکھائیں۔

۱۰۸۲ سوال ۱.۲۱۱: $x^2+y^2+4x-4y+4=0$

سوال ۱.۲۱۲: $x^2 + y^2 - 8x + 4y + 16 = 0$

سوال ۱.۲۱۳: $x^2 + y^2 - 3y - 4 = 0$

سوال ۱.۲۱۴: $x^2 + y^2 - 4x - \frac{9}{4} = 0$

سوال ۱.۲۱۵: $x^2 + y^2 - 4x + 4y = 0$

سوال ۱.۲۱۶: $x^2 + y^2 + 2x = 3$

قطع مکافی

سوال ۱.۲۱۷ تا سوال ۱.۲۲۴ میں دیے گئے قطع مکافی ترسیم کریں۔ راس، محور اور قطع x ، قطع y بھی ظاہر کریں۔

سوال ۱.۲۱۷: $y = x^2 - 2x - 3$

سوال ۱.۲۱۸: $y = x^2 + 4x + 3$

سوال ۱.۲۱۹: $y = -x^2 + 4x$

سوال ۱.۲۲۰: $y = -x^2 + 4x - 5$

سوال ۱.۲۲۱: $y = -x^2 - 6x - 5$

سوال ۱.۲۲۲: $y = 2x^2 - x + 3$

سوال ۱.۲۲۳: $y = -\frac{1}{2}x^2 + x + 4$

سوال ۱.۲۲۴: $y = -\frac{1}{4}x^2 + 2x + 4$

سوال ۱.۲۲۵: قطع مکافی $y = x - x^2$ ترسیم کرتے ہوئے $f(x) = \sqrt{x - x^2}$ کا دائرہ کار اور سعت تلاش کریں۔

سوال ۱.۲۲۶: قطع مکافی $y = 3 - 2x - x^2$ ترسیم کرتے ہوئے $g(x) = \sqrt{3 - 2x - x^2}$ کا دائرہ کار اور سعت تلاش کریں۔

عدم مساوات

سوال ۱.۲۲۷ تا سوال ۱.۲۳۴ میں دیے گئے عدم مساوات اور عدم مساوات کی جوڑیوں پر تبصرہ کریں۔

سوال ۱.۲۲۷: $x^2 + y^2 > 7$

سوال ۱.۲۲۸: $x^2 + y^2 < 5$

سوال ۱.۲۲۹: $(x-1)^2 + y^2 \leq 4$

سوال ۱.۲۳۰: $x^2 + (y-2)^2 \geq 4$

سوال ۱.۲۳۱: $x^2 + y^2 > 1, \quad x^2 + y^2 < 4$

سوال ۱.۲۳۲: $x^2 + y^2 \leq 4, \quad (x+2)^2 + y^2 \leq 4$

سوال ۱.۲۳۳: $x^2 + y^2 + 6y < 0, \quad y > -3$

سوال ۱.۲۳۴: $x^2 + y^2 - 4x + 2y > 4, \quad x > 2$

سوال ۱.۲۳۵: ایسی عدم مساوات لکھیں جو رداس $\sqrt{6}$ کے دائرہ جس کا مرکز $(-2,1)$ ہو کے اندر نقطوں کو ظاہر کرتی ہو۔

سوال ۱.۲۳۶: رداس 4 اور مرکز $(-4,2)$ والے دائرے کے باہر نقطوں کے لئے عدم مساوات لکھیں۔

سوال ۱.۲۳۷: رداس 2 اور مرکز $(0,0)$ والے دائرے پر یا اس کے اندر، اور نقطہ $(1,0)$ سے گزرتا انتصابی خط پر یا اس کے دائیں جانب نقطوں کو عدم مساوات کی جوڑی کی صورت میں لکھیں۔

سوال ۱.۲۳۸: رداس 2 اور مرکز $(0,0)$ والے دائرے کے باہر اور ایسے دائرہ، جس کا مرکز $(1,3)$ ہو اور جو مبدا سے گزرتا ہو، کے اندر نقطوں کو عدم مساوات کی جوڑی کی صورت میں لکھیں۔

منتقلی خطوط

سوال ۱.۲۳۹: خط $y = mx$ جو مبدا سے گزرتا ہے کو افقی اور انتصابی منتقل کیا جاتا ہے تاکہ یہ نقطہ (x_0, y_0) سے گزرے۔ نئے خط کی مساوات تلاش کریں (جس کو نقطہ وڈھلوان مساوات کہتے ہیں)۔

سوال ۱.۲۴۰: خط $y = mx$ کو انتصابی منتقل کیا جاتا ہے تاکہ یہ نقطہ $(0,b)$ سے گزرے۔ نئے خط کی مساوات تلاش کریں۔

خطوط، دائرے اور قطع مکافی کا ایک دوسرے کو قطع کرنا

سوال ۱.۲۴۱ تا سوال ۱.۲۴۸ میں دیے دو مساوات ترسیم کرتے ہوئے ان نقطوں کو تلاش کریں جہاں یہ خطوط ایک دوسرے کو قطع کرتے ہیں۔

سوال ۱.۲۴۱: $y = 2x, \quad x^2 + y^2 = 1$

سوال ۱.۲۴۲: $x + y = 1, \quad (x-1)^2 + y^2 = 1$

سوال ۱.۲۴۳: $y - x = 1, \quad y = x^2$

سوال ۱.۲۴۴: $x + y = 0, \quad y = -(x-1)^2$

سوال ۱.۲۴۵: $y = -x^2, \quad y = 2x^2 - 1$

سوال ۱.۲۴۶: $y = \frac{1}{4}x^2, \quad y = (x-1)^2$

سوال ۱.۲۴۷: $x^2 + y^2 = 1, \quad (x-1)^2 + y^2 = 1$

سوال ۱.۲۴۸: $x^2 + y^2 = 1, \quad x^2 + y = 1$

سوال ۱.۲۴۹ تا سوال ۱.۲۵۲ میں مساوات $y = f(ax)$ میں مستقل a کی تبدیلی کے اثرات کو دیکھنے کی خاطر ہم $y = f(ax)$ کو کمپیوٹر کی مدد سے ترسیم کرتے ہیں۔ کمپیوٹر استعمال کرتے ہوئے درج ذیل کریں۔

ا. $y = f(x)$ کے ساتھ ساتھ $a = 2, 3, \cdots, 10$ لیتے ہوئے دیے گئے وقفے پر $y = f(ax)$ ترسیم کریں۔ a کی (مثبت) قیمت بڑھانے کے اثرات پر تبصرہ کریں۔

ب. $y = f(x)$ کے ساتھ ساتھ $a = -2, -3, \cdots, -10$ لیتے ہوئے دیے گئے وقفے پر $y = f(ax)$ ترسیم کریں۔ اب ترسیم پر اثرات کیا ہیں؟

ج. $y = f(x)$ اور $y = f(ax)$ کو $a = \frac{1}{2}, \frac{1}{3}, \frac{1}{4}$ کے لئے ترسیم کریں۔ ترسیم پر $|a| < 1$ کا کیا اثر پایا جاتا ہے؟

سوال ۱.۲۴۹: $f(x) = \frac{5x}{x^2+4}, \quad [-10, 10]$

سوال ۱.۲۵۰: $f(x) = \frac{2x(x-1)}{x^2+1}, \quad [-3, -2]$

سوال ۱.۲۵۱: $f(x) = \frac{x+1}{2x^2+1}, \quad [-2, -2]$

سوال ۱.۲۵۲: $f(x) = \frac{x^4-4x^3+10}{x^2+4}, \quad [-1, 4]$

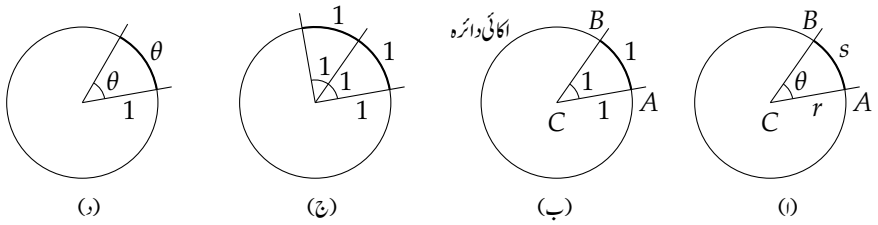

شکل ۱.۴۸: ریڈیئن کی تعریف

۱.۵ تکونیاتی تفاعل

اس حصہ میں ریڈیئن، تکونی تفاعل، دوریت اور بنیادی تکونی مماثل پر غور کیا جائے گا۔

ریڈیئن

چھوٹی جماعتوں میں زاویوں کو درجات میں ناپا جاتا ہے۔ احصاء میں زاویے کو ریڈیئن میں ناپا جاتا ہے جہاں 180° کو π ریڈیئن کہتے ہیں۔ ریڈیئن استعمال کرنے سے حساب آسان ہو جاتا ہے۔

شکل ۱.۴۸-ا میں رداس r کا دائرہ دکھایا گیا ہے جس کے مرکز C سے دو شعاعیں نکل رہی ہیں جو مرکز پر وسطی زاویہ θ بناتی ہیں۔ یہ شعاعیں دائرے کو A اور B پر قطع کرتی ہیں۔ قوس AB کی لمبائی s ہے۔ اگر دائرے کا رداس 1 (ایک) ہو، ہم اس دائرے کو **اکائی دائرہ**[۶۲] کہیں گے۔ اکائی دائرے پر اکائی لمبائی کی قوس، دائرے کے مرکز پر، جتنا زاویہ بناتی ہے اس کو ایک ریڈیئن زاویہ کہتے ہیں (یہی ایک ریڈیئن کی تعریف ہے)۔ شکل ۱.۴۸-ب میں ایک ریڈیئن کی اس تعریف کی وضاحت کی گئی ہے۔ شکل ۱.۴۸-ج میں اکائی لمبائی کی دو قوس ساتھ ساتھ رکھی گئی ہیں جو ایک ایک ریڈیئن کا وسطی زاویہ بناتی ہیں۔ یوں کل قوس کی لمبائی 2 ہے اور کل زاویہ 2 ریڈیئن ہے۔ آپ دیکھ سکتے ہیں کہ اکائی دائرے پر وسطی زاویہ کی ریڈیئن میں ناپ قوس کی لمبائی کے برابر ہو گی۔ شکل ۱.۴۸-د میں یہ حقیقت دکھائی گئی ہے۔

زاویہ ACB کی ریڈیئن ناپ کی تعریف اکائی دائرے کی قوس AB کی لمبائی ہے۔ چونکہ اکائی دائرے کا محیط 2π ہے اور ایک مکمل چکر 360° ہے لہٰذا درج ذیل تعلق لکھا جا سکتا ہے۔

$$\boxed{\pi \text{ ریڈیئن} = 180^\circ}$$

مثال ۱.۴۲: **درجہ سے ریڈیئن میں زاویے کی تبدیلی**

45° کو ریڈیئن میں لکھیں اور $\frac{\pi}{6}$ کو درجات میں لکھیں۔

---

[۶۲] unitcircle

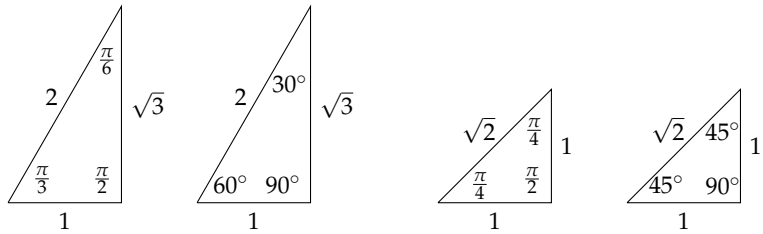

شکل ۱.۴۹: اشکال برائے مثال ۱.۴۲

۱۱۸۵ حل: شکل ۱.۴۹ دیکھیں۔

$$45 \cdot \frac{\pi}{180} = \frac{\pi}{4} \text{ ریڈیئن}$$
$$\frac{\pi}{6} \cdot \frac{180}{\pi} = 30^\circ$$

۱۱۸۶ □

۱۱۸۷ **ریڈیئن اور درجہ**

$$1^\circ = \frac{\pi}{180} \approx 0.02 \text{ ریڈیئن}$$
$$1 \text{ ریڈیئن} = \frac{180}{\pi} \approx 57^\circ$$

۱۱۸۸ دھیان رہے کہ زاویے کی پیمائش درجات میں ہونے کو $^\circ$ کی علامت سے ظاہر کیا جاتا ہے جبکہ ریڈیئن کو بغیر علامت لکھا جاتا ہے۔ یوں $\theta = 45^\circ$ سے
۱۱۸۹ مراد پینتالیس درجہ ہو گا جبکہ $\theta = 3$ سے مراد تین ریڈیئن ہو گا۔

۱۱۹۰ xy مستوی میں شعاع کا اس مبدا پر اور شعاع کا ابتدائی مقام مثبت x محور پر ہونے کی صورت میں زاویہ کے مقام کو **معیاری مقام**[۶۳] کہتے ہیں۔ مثبت x
۱۱۹۱ محور سے گھڑی (کی سوئی کی حرکت کے) مخالف رخ زاویے کی ناپ مثبت اور گھڑی وار رخ زاویے کی ناپ منفی تصور کی جاتی ہے (شکل ۱.۵۰)۔ یوں مثبت x
۱۱۹۲ محور کا زاویہ 0 ریڈیئن اور منفی x محور کا زاویہ π ریڈیئن ہو گا۔

۱۱۹۳ گھڑی مخالف چکر کی بات کرتے ہوئے زاویے کی ناپ 2π یعنی 360° سے زیادہ ہو سکتی ہے۔ اسی طرح گھڑی وار رخ چکر بیان کرتے ہوئے زاویہ کی ناپ
۱۱۹۴ کچھ بھی ممکن ہے (شکل ۱.۵۱)۔

۱۱۹۵ شکل ۱.۵۲-ا میں چند اشکال کو لچکدار xy مستوی پر دکھایا گیا ہے۔ اس xy مستوی کو کھینچ کر x رخ اور y رخ کی لمبائیاں k گنا کرنے سے شکل
۱۱۹۶ ۱.۵۲-ب حاصل ہوتی ہے۔ ہم کہتے ہیں کہ جسامت k گنا کر دی گئی ہے۔ یوں اگر بائیں شکل کے تکون کی افقی اور انتصابی اطراف کی لمبائیاں بالترتیب a اور
۱۱۹۷ b ہوں تب اس کی وتر کی لمبائی $\sqrt{a^2+b^2}$ ہو گی۔ دائیں شکل میں تکون کی افقی اور انتصابی اطراف کی لمبائیاں بالترتیب ka اور kb ہوں گی لہٰذا اس

[۶۳] standardposition

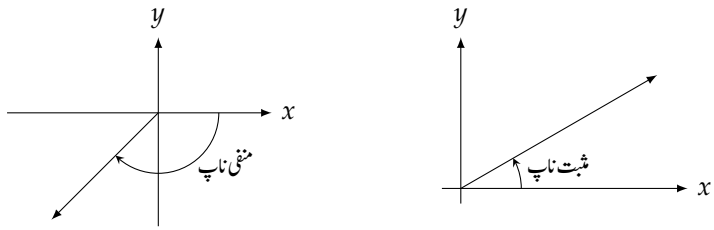

شکل ۱.۵۰: زاویے کی ناپ

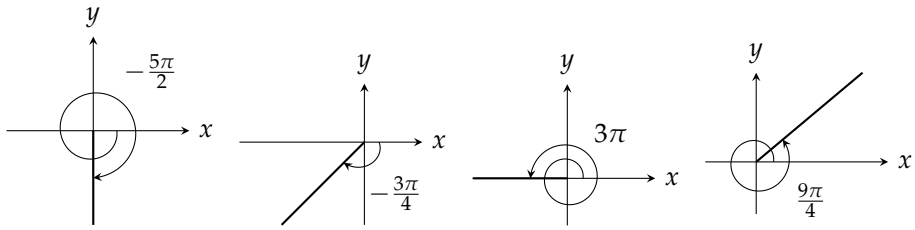

شکل ۱.۵۱: مثبت اور منفی ریڈیئن

کا وتر $\sqrt{(ka)^2+(kb)^2} = k\sqrt{a^2+b^2}$ ہو گا۔ آپ نے دیکھا کہ دائیں مستوی پر نا صرف افقی اور انتصابی خط بلکہ ترچھے خط کی لمبائی بھی k گنا ہو گئی ہے۔ چونکہ ہر ترچھے خط کو کسی تکون کا وتر تصور کیا جا سکتا ہے لہٰذا دائیں مستوی پر (ہر افقی اور ہر انتصابی خط کے ساتھ ساتھ) ہر ترچھے خط کی لمبائی k گنا ہو گی۔ کیا جسامت k گنا کرنے سے لمبائی قوس بھی k گنا ہو گی؟ اس کا جواب ہے "جی ہاں" جس کا ثبوت اب پیش کرتے ہیں۔

شکل ۱.۵۳ میں قوس کی لمبائی جاننے کی خطر قوس پر مختلف نقطے منتخب کرتے ہوئے ان کے بیچ سیدھے خط کھینچے گئے ہیں۔ ان سیدھے خطوط کی مجموعی لمبائی کو قوس کی تخمینی لمبائی تصور کیا جا سکتا ہے۔ آپ دیکھ سکتے ہیں کہ قوس پر نقطوں کی تعداد بڑھا کر اس کو زیادہ ٹکڑوں میں تقسیم کرتے ہوئے قوس کی لمبائی اور سیدھے خطوط کی مجموعی لمبائی میں فرق کو ہم جتنا چاہیں کم کر سکتے ہیں۔ اب اگر اس قوس کی جسامت کو k گنا کیا جائے تب ہر سیدھے خط کی لمبائی k گنا ہو گی لہٰذا ان کی

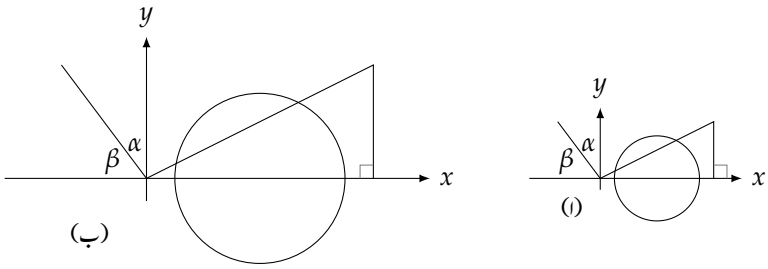

شکل ۱.۵۲: شکل کی جسامت بڑھانے یا گھٹانے کا زاویہ پر کوئی اثر نہیں۔

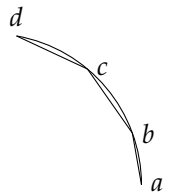

شکل ۱.۵۳: قوس کی لمبائی

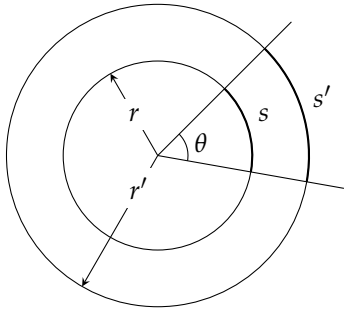

شکل ۱.۵۴: محیط دائرہ

شکل ۱.۵۵: قوس، رداس، اور زاویے کا تعلق۔

مجموعی لمبائی (جو قوس کی لمبائی ہے) بھی k گنا ہو گی۔ (ثبوت مکمل ہوا۔)

شکل ۱.۵۵-ا میں رداس r کے دائرے پر قوس s اور وسطی زاویہ θ دکھائے گئے ہیں۔ اس دائرے کے مرکز پر ہم 1 رداس کا دائرہ بناتے ہیں (شکل ۱.۵۵-ب؛ اگر دیے گئے دائرے کا رداس اکائی سے کم ہو تب یہ دائرہ اکائی دائرے کے اندر نظر آئے گا)۔ (جیسا شکل ۱.۵۵-ب میں دکھایا گیا ہے) ریڈیئن کی تعریف کی رو سے اکائی دائرے پر قوس اور زاویہ آپس میں برابر ہوں گے۔ شکل ۱.۵۵-ب میں دونوں دائروں پر قوس کی لمبائیوں کا تناسب $\frac{s}{\theta}$ اور دائروں کے رداس کی لمبائیوں کا تناسب $\frac{r}{1}$ ایک سا ہوں گے، یعنی $\frac{s}{\theta} = \frac{r}{1}$ ہو گا، جس سے درج ذیل اہم ترین کلیہ ملتا ہے۔

قوس، رداس، اور زاویے کا تعلق

$$s = r\theta$$

زاویہ ناپنے کی روایت: ریڈیئن استعمال کریں

یہاں کے بعد اس کتاب میں زاویے کو ریڈیئن میں ناپا جائے گا۔ جہاں زاویے کو ریڈیئن میں نہیں ناپا گیا ہو وہاں صریحاً بتلایا جائے گا۔ یوں اگر ہم زاویہ $\frac{\pi}{6}$ کی بات کریں تب اس سے مراد $\frac{\pi}{6}$ ریڈیئن کا زاویہ ہو گا نا کہ $\frac{\pi}{6}$ درجے کا زاویہ۔

مثال ۱.۴۳: رداس 8 کے دائرے پر غور کریں۔ (الف) دائرے پر 2π لمبائی کی قوس، دائرے کے مرکز پر کیا وسطی زاویہ بناتی ہے۔ (ب) اس قوس کی لمبائی تلاش کریں جو $\frac{3\pi}{4}$ وسطی زاویہ بناتی ہو۔

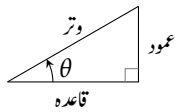

سائن	$\sin\theta = \frac{\text{عمود}}{\text{وتر}}$,	کوسیکنٹ	$\csc = \frac{\text{وتر}}{\text{عمود}}$
کوسائن	$\cos\theta = \frac{\text{قاعدہ}}{\text{وتر}}$,	سیکنٹ	$\sec = \frac{\text{وتر}}{\text{قاعدہ}}$
ٹینجنٹ	$\tan\theta = \frac{\text{عمود}}{\text{قاعدہ}}$,	کوٹینجنٹ	$\cot = \frac{\text{قاعدہ}}{\text{عمود}}$

شکل ۱.۵۶: قائمہ مثلث اور تکونیاتی تفاعل

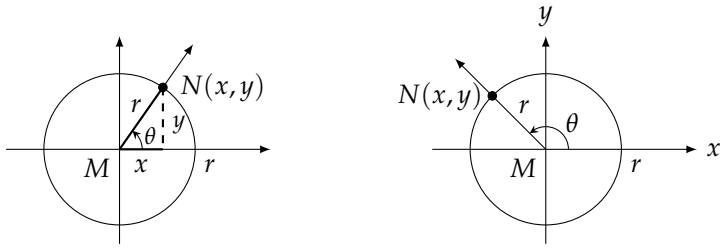

(ب) (ا)

شکل ۱.۵۷: تکونیاتی تفاعل

۱۲۱۵ حل:

$$s = r\theta = 8(\tfrac{3\pi}{4}) = 6\pi \quad \text{(ب)} \qquad \theta = \frac{s}{r} = \frac{2\pi}{8} = \frac{\pi}{4} \quad \text{(الف)}$$

۱۲۱۶ □

۱۲۱۷ **چھ بنیادی تکونیاتی تفاعل**

۱۲۱۸ آپ زاویہ حادہ کے تکونیاتی تفاعل سے بخوبی واقف ہوں گے جو قائمہ مثلث کے اطراف کی لمبائیوں کی تناسب سے حاصل ہوتے ہیں (شکل ۱.۵۶)۔ ہم انہیں
۱۲۱۹ تعریف کو وسعت دیتے ہوئے زاویہ منفرجہ اور منفی زاویوں پر بھی لاگو کرتے ہیں جہاں معیاری مقام پر رداس r کے دائرے میں زاویہ پایا جاتا ہے۔ ہم اب
۱۲۲۰ ان تکونیاتی تفاعل کو نقطہ $N(x,y)$ کے محدد کی صورت میں بیان کرتے ہیں جہاں مبدا سے خارج ہوتی ہوئی شعاع دائرے کو $N(x,y)$ پر قطع کرتی
۱۲۲۱ ہے۔

۱۲۲۲ شکل ۱.۵۷-ا کو دیکھتے ہوئے ان تفاعل کو یہاں پیش کرتے ہیں۔

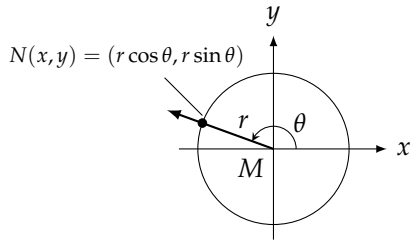

شکل ۱.۵۸: مستوی میں کارتیسی محدد کا r اور θ میں اظہار۔

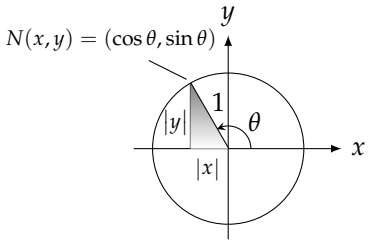

شکل ۱.۵۹: زاویہ θ کے لئے زاویہ حادہ تکون

۱۳۲۳ **چھ تکونیاتی تفاعل**

$$\sin\theta = \frac{y}{r} \quad \text{سائن} \qquad \csc\theta = \frac{r}{y} \quad \text{کوسیکنٹ}$$
$$\cos\theta = \frac{x}{r} \quad \text{کوسائن} \qquad \sec\theta = \frac{r}{x} \quad \text{سیکنٹ}$$
$$\tan\theta = \frac{y}{x} \quad \text{ٹینجنٹ} \qquad \cot\theta = \frac{x}{y} \quad \text{کوٹینجنٹ}$$

۱۳۲۴ آپ شکل ۱.۵۷-ب سے دیکھ سکتے ہیں کہ زاویہ حادہ کی صورت میں تکونیاتی تفاعل کی توسیعی تعریف اور قائمہ زاویہ کی تکونی تعریف ایک سی ہیں۔

۱۳۲۵ جیسا آپ دیکھ سکتے ہیں $x = 0$ کی صورت میں $\tan\theta$ اور $\sec\theta$ غیر معین ہیں (چونکہ کسی بھی عدد کو صفر سے تقسیم نہیں کیا جا سکتا ہے)۔ یوں یہ
۱۳۲۶ $\theta = \mp\frac{\pi}{2}, \mp\frac{3\pi}{2}, \cdots$ کے لئے غیر معین ہیں۔ اسی طرح $y = 0$ یعنی $\theta = 0, \mp\pi, \mp 2\pi, \cdots$ کے لئے $\cot\theta$ اور
۱۳۲۷ $\csc\theta$ غیر معین ہیں۔

۱۳۲۸ درج ذیل تعریف بھی لکھی جا سکتی ہیں۔

۱۳۲۹ **تکونیاتی تفاعل کے باہمی تعلقات**

$$\tan\theta = \frac{\sin\theta}{\cos\theta} \qquad \cot\theta = \frac{1}{\tan\theta}$$
$$\sec\theta = \frac{1}{\cos\theta} \qquad \csc\theta = \frac{1}{\sin\theta}$$

۱۳۳۰ مستوی میں نقطہ $N(x,y)$ کو مبدا سے فاصلہ r اور زاویہ θ کی صورت میں لکھا جا سکتا ہے (شکل ۱.۵۸)۔ چونکہ $\cos\theta = \frac{x}{r}$ اور $\sin\theta =$
۱۳۳۱ $\frac{y}{r}$ ہیں لہٰذا درج ذیل ہو گا۔

$$x = r\cos\theta, \quad y = r\sin\theta$$

۱۳۳۲

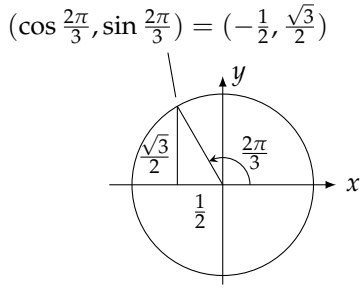

شکل ۱.۶۰: تکونیاتی تفاعل کی قیمتیں (مثال ۱.۴۴)

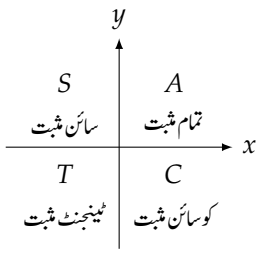

شکل ۱.۶۱: قاعدہ $CAST$

تکونیاتی تفاعل کی قیمتیں

شکل ۱.۵۷ کے دائرے میں $r = 1$ ہونے کی صورت میں $\sin\theta$ اور $\cos\theta$ کی تعارفی مساوات درج ذیل صورت اختیار کرتی ہیں۔

$$\cos\theta = x, \quad \sin\theta = y$$

یوں ہم سائن اور کوسائن کی قیمتوں کو بالترتیب نقطہ $N(x, y)$ کی x اور y محدد سے پڑھ سکتے ہیں۔ نقطہ N سے x محور پر قائمہ گراتے ہوئے حاصل حوالہ تکون سے بھی انہیں حاصل کیا جا سکتا ہے (شکل ۱.۵۹)۔ ہم x اور y کی قیمتیں تکون کے اطراف سے ناپتے ہیں۔ x اور y کی علامتیں اس ربع سے تعین کی جاتی ہیں جس میں تکون پایا جاتا ہو۔

مثال ۱.۴۴: $\frac{2\pi}{3}$ ریڈیئن کا سائن اور کوسائن تلاش کریں۔

حل: **پہلا قدم** زاویے کو معیاری مقام پر اکائی دائرے میں بنائیں۔ حوالہ تکون کے اطراف کی لمبائیاں لکھیں (شکل ۱.۶۰)۔

دوسرا قدم جہاں اکائی دائرے کو شعاع قطع کرتی ہے اس نقطے کے محدد دریافت کریں:

$$\cos\frac{2\pi}{3} = x \text{ کا محدد } N = -\frac{1}{2}$$
$$\sin\frac{2\pi}{3} = y \text{ کا محدد } N = \frac{\sqrt{3}}{2}$$

تکونیاتی تفاعل کی قیمتوں کی علامت جاننے کے لئے شکل ۱.۶۱ میں دکھایا گیا $CAST$ کا قاعدہ یاد رکھیں۔ □

مثال ۱.۴۵: $-\frac{\pi}{4}$ ریڈیئن کا سائن اور کوسائن تلاش کریں۔

حل: **پہلا قدم:** معیاری مقام پر اکائی دائرے میں زاویہ کھینچ کر حوالہ تکون کے اطراف کی لمبائیاں لکھیں (شکل ۱.۶۲)۔

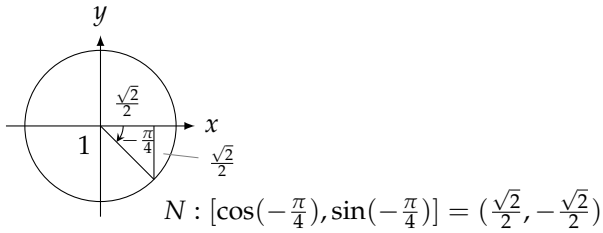

شکل ۱.۶۲: شکل برائے مثال ۱.۴۵

درجہ	-180°	-135°	-90°	-45°	0°	30°	45°	60°	90°	135°	180°
ریڈیئن	$-\pi$	$-\frac{3\pi}{4}$	$-\frac{\pi}{2}$	$-\frac{\pi}{4}$	0	$\frac{\pi}{6}$	$\frac{\pi}{4}$	$\frac{\pi}{3}$	$\frac{\pi}{2}$	$\frac{3\pi}{4}$	π
$\sin\theta$	0	$-\frac{\sqrt{2}}{2}$	-1	$-\frac{\sqrt{2}}{2}$	0	$\frac{1}{2}$	$\frac{\sqrt{2}}{2}$	$\frac{\sqrt{3}}{2}$	1	$\frac{\sqrt{2}}{2}$	0
$\cos\theta$	-1	$-\frac{\sqrt{2}}{2}$	0	$\frac{\sqrt{2}}{2}$	1	$\frac{\sqrt{3}}{2}$	$\frac{\sqrt{2}}{2}$	$\frac{1}{2}$	0	$-\frac{\sqrt{2}}{2}$	-1
$\tan\theta$	0	1		-1	0	$\frac{1}{\sqrt{3}}$	1	$\sqrt{3}$		-1	0

۱۳۴۵ **دوسرا قدم:** نقطہ N کے محدد تلاش کریں۔

$$\cos(-\tfrac{\pi}{4}) = x \text{ کا محدد } N = \frac{\sqrt{2}}{2}$$
$$\sin(-\tfrac{\pi}{4}) = y \text{ کا محدد } N = -\frac{\sqrt{2}}{2}$$

۱۳۴۶ □

۱۳۴۷ درج بالا دو مثالوں کی طرح حل کرتے ہوئے جدول میں دیے قیمتیں حاصل کی جا سکتی ہیں۔

۱۳۴۸ **ترسیم**

۱۳۴۹ تکونیاتی تفاعل کو کارتیسی محدد میں ترسیم کرتے ہوئے ہم عموماً غیر تابع متغیر θ کو x سے ظاہر کرتے ہیں (شکل ۱.۶۳)۔

۱۳۵۰ **دوریت**

۱۳۵۱ معیاری مقام پر زاویہ x اور زاویہ $x + 2\pi$ ہم مکان ہوں گے۔ یوں ان دونوں زاویوں کے تکونیاتی تفاعل کی قیمتیں ایک سی ہوں گی۔ مثال کے طور پر

۱۳۵۲ $\cos(x + 2\pi) = \cos x$ ہو گا۔ ایسے تفاعل جن کی قیمت مقررہ وقفوں سے دہراتی ہو **دوری**[۶۴] کہلاتے ہیں۔

[۶۴] periodic

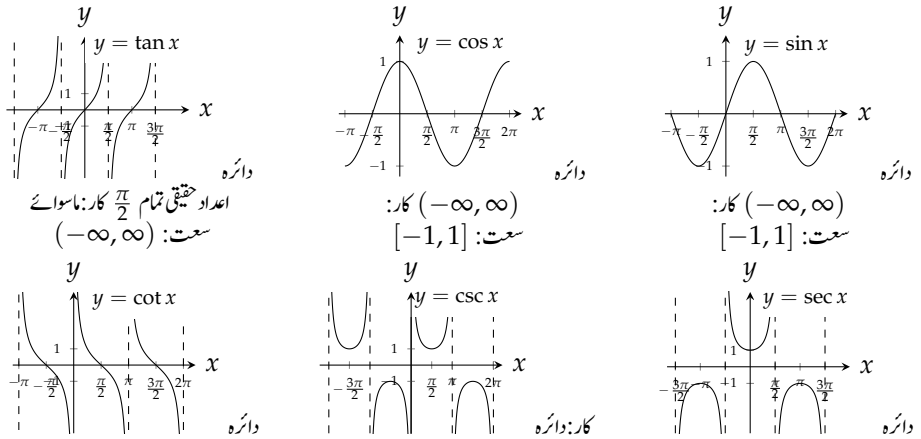

شکل ۶۳.۱: چھ بنیادی تکونیاتی تفاعل کے ترسیم۔ ان تفاعل کی دوریت صاف ظاہر ہے۔

تعریف: اگر کسی مثبت عدد p کے لئے تمام x پر $f(x+p) = f(x)$ ہو تب تفاعل $f(x)$ **دوری** کہلاتا ہے۔ p کی ایسی کم سے کم قیمت کو $f(x)$ کا **دوری عرصہ**[65] کہتے ہیں۔

□

ہم شکل ۶۳.۱ سے دیکھ سکتے ہیں کہ ٹینجنٹ اور کوٹینجنٹ تفاعل کا دوری عرصہ $p = \pi$ ہے جبکہ باقی چار تفاعل کا دوری عرصہ 2π ہے۔

شکل ۶۴.۱ میں $y = \cos 2x$ اور $y = \cos \frac{x}{2}$ ترسیم کیے گئے ہیں۔ تکونیاتی تفاعل میں x کو 1 سے بڑی عدد سے ضرب کرنے سے تفاعل تیز ہو جاتا ہے (اس کی تعدد بڑھ جاتی ہے اور اس کا دوری عرصہ کم ہو جاتا ہے) جبکہ 1 سے کم عدد سے x کو ضرب کرنے سے تفاعل آہستہ ہو جاتا ہے جس سے اس کا دوری عرصہ بڑھ جاتا ہے۔

دوری تفاعل کی اہمیت اس حقیقت کی وجہ سے ہے کہ سائنس میں عموماً طبعی نظام جن پر ہم غور کرتے ہیں کا رویہ دوری ہوتا ہے۔ دل کی دھڑکن، دماغی لہریں اور گھریلو استعمال کی 220 وولٹ کی بجلی دوری ہیں۔ اسی طرح **خرد امواج تندور**[66] میں برقناطیسی امواج، جو خوراک کو گرم کرتی ہیں، دوری ہوتی ہیں۔ موسمی کاروبار میں سرمایہ کی آمد و رفت اور گھومنے والی مشین کا رویہ بھی دوری ہوتا ہے۔ ہمارے پاس پختہ شواہد موجود ہیں جن کے تحت دنیا پر برفانی عہد تقریباً 90 000 تا 100 000 سال کے وقفہ سے دہراتا ہے۔

اگر اتنے زیادہ چیزیں دوری ہیں تب ہم صرف تکونیاتی تفاعل پر کیوں غور کرنا چاہتے ہیں؟ اس کا جواب اعلیٰ احصاء کا ایک حیرت کن مسئلہ دیتا ہے جس کے تحت ہر دوری تفاعل، جسے ہم ریاضی نمونہ میں استعمال کرنا چاہیں گے، کو ہم سائن اور کوسائن تفاعل کا مجموعہ لکھ سکتے ہیں۔ یوں سائن اور کوسائن تفاعل کا احصاء جانتے ہوئے ہم کسی بھی دوری تفاعل کا ریاضی نمونہ اخذ کر سکتے ہیں۔

---

[65] period
[66] microwaveoven

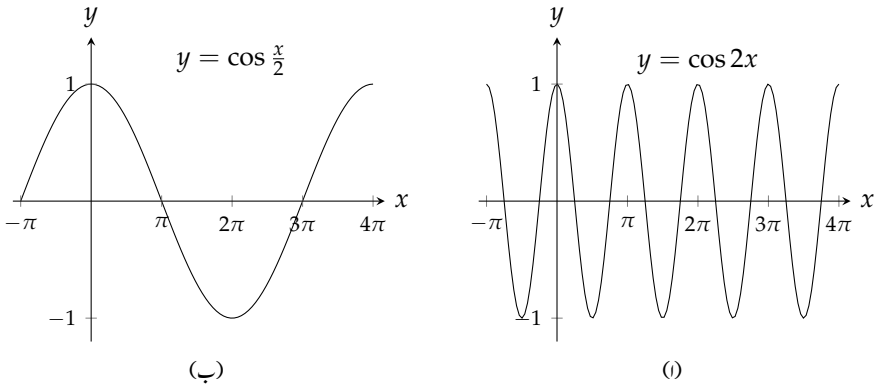

شکل ۱.۶۴: $\cos 2x$ کا دوری عرصہ کم ہے جبکہ $\cos \frac{x}{2}$ کا دوری عرصہ زیادہ ہے۔

۱۳۶۷ **جفت بالمقابل طاق**

۱۳۶۸ شکل ۱.۶۳ سے ظاہر ہے کہ کوسائن اور سیکنٹ تفاعل جفت ہیں جبکہ باقی چار تفاعل طاق ہیں۔

جفت	طاق
$\cos(-x) = \cos x$	$\sin(-x) = -\sin x$
$\sec(-x) = \sec x$	$\tan(-x) = -\tan x$
	$\csc(-x) = -\csc x$
	$\cot(-x) = -\cot x$

۱۳۶۹ **مماثل**

۱۳۷۰ اکائی دائرے پر نقطہ $N(\cos\theta, \sin\theta)$ سے x محور پر قائمہ گراتے ہوئے حاصل حوالہ تکون پر مسئلہ فیثاغورث کے اطلاق سے درج ذیل ملتا ہے
۱۳۷۱ (شکل ۱.۶۵)۔

$$\cos^2\theta + \sin^2\theta = 1 \tag{ا}$$

۱۳۷۲ یہ مساوات θ کی تمام قیمتوں کے لئے درست ہے اور غالباً یہ اہم ترین تکونیاتی مماثل ہے۔

۱۳۷۳ مساوات ا کے دونوں ہاتھ کو ایک بار $\cos^2\theta$ اور ایک بار $\sin^2\theta$ سے تقسیم کرتے ہوئے درج ذیل مماثل حاصل ہوتے ہیں۔

$$1 + \tan^2\theta = \sec^2\theta$$
$$1 + \cot^2\theta = \csc^2\theta$$

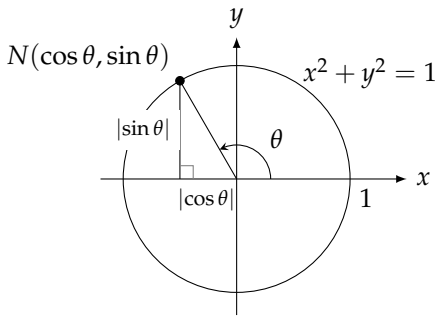

شکل ۱.۶۵: عمومی زاویہ θ کے لئے حوالہ تکون۔

۱۲۷۴ آپ درج ذیل مماثل سے بخوبی واقف ہوں گے۔

$$\begin{aligned}\cos(A+B) &= \cos A\cos B - \sin A\sin B\\ \sin(A+B) &= \sin A\cos B + \cos A\sin B\end{aligned} \qquad \text{مجموعہ زاویہ کلیات} \qquad (۲)$$

۱۲۷۵ اس کتاب میں تمام درکار مماثل کو مساوات ۱ اور مساوات ۲ سے حاصل کیا جا سکتا ہے۔ مساوات ۲ A اور B کی ہر قیمت کے لئے درست
۱۲۷۶ ہیں۔ $\cos(A-B)$ اور $\sin(A-B)$ کے لئے بھی اسی طرح کے کلیات پائے جاتے ہیں (سوال ۱.۲۸۷ اور سوال ۱.۲۸۸)۔

۱۲۷۷ زاویوں کے مجموعوں کے کلیات میں A اور B دونوں کے لئے θ پُر کرنے سے درج ذیل مماثل حاصل ہوتے ہیں۔

$$\begin{aligned}\cos 2\theta &= \cos^2\theta - \sin^2\theta\\ \sin 2\theta &= 2\sin\theta\cos\theta\end{aligned} \qquad \text{دوہرا زاویہ کلیات} \qquad (۳)$$

۱۲۷۸ درج ذیل کلیات

$$\cos^2\theta + \sin^2\theta = 1, \qquad \cos^2\theta - \sin^2\theta = \cos 2\theta$$

۱۲۷۹ کو آپس میں جمع کرنے سے $2\cos^2\theta = 1 + \cos 2\theta$ اور ایک کو دوسرے سے منفی کرنے سے $2\sin^2\theta = 1 - \cos 2\theta$ حاصل
۱۲۸۰ ہوتا ہے جن سے دوہرا زاویے کے درج ذیل مزید دو کلیات حاصل ہوتے ہیں۔

$$\cos^2\theta = \frac{1+\cos 2\theta}{2} \qquad (۴)$$

$$\sin^2\theta = \frac{1-\cos 2\theta}{2} \qquad (۵)$$

۱۲۸۱ درج بالا میں θ کی جگہ $\frac{\theta}{2}$ لکھنے سے **نصف زاویہ کلیات**[۶۷] حاصل ہوتے ہیں۔

---

[۶۷] halfangleformulae

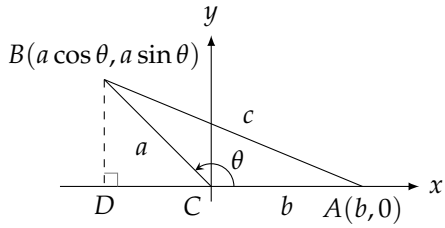

شکل ۱.۶۶: قاعدہ کوسائن

۱۳۸۲ **قاعدہ کوسائن**

۱۳۸۳ اگر تکون ABC کے اضلاع a ، b اور c ہوں اور c کے سامنے زاویہ θ ہو تب درج ذیل ہوگا (شکل ۱.۶۶)۔

$$c^2 = a^2 + b^2 - 2ab\cos\theta \tag{۶}$$

۱۳۸۴ اس مساوات کو **قاعدہ کوسائن**[۶۸] کہتے ہیں۔

۱۳۸۵ اس کلیے کو حاصل کرنے کی خاطر تکون کو کارتیسی محدد پر یوں بنائیں کہ اس کا ایک راس مبدا پر اور ایک ضلع x محور پر ہو (شکل ۱.۶۶)۔ راس B سے x محور
۱۳۸۶ پر قائمہ گرائیں۔ حاصل قائمہ مثلث ABD پر مسئلہ فیثاغورث کا اطلاق کرتے ہیں جہاں A سے D تک فاصلہ $b - a\cos\theta$ لکھا جائے گا (مثلاً
۱۳۸۷ $b = 3$ اور $a\cos\theta = -2$ کی صورت میں $AD = 3 - (-2) = 5$ ہوگا اور $a\cos\theta = 1$ کی صورت میں $AD = 3 - 1 = 2$ ہوگا)۔ یوں درج ذیل لکھا جا سکتا ہے

$$\begin{aligned} c^2 &= (b - a\cos\theta)^2 + (a\sin\theta)^2 \\ &= a^2(\cos^2\theta + \sin^2\theta) + b^2 - 2ab\cos\theta \\ &= a^2 + b^2 - 2ab\cos\theta \end{aligned}$$

۱۳۸۹ جہاں آخری قدم پر $\cos^2\theta + \sin^2\theta = 1$ کا سہارا لیا گیا ہے۔

۱۳۹۰ قاعدہ کوسائن، مسئلہ فیثاغورث کو عمومی بناتا ہے۔ آپ دیکھ سکتے ہیں کہ $\theta = \frac{\pi}{2}$ کی صورت میں $\cos\frac{\pi}{2} = 0$ کی وجہ سے قاعدہ کوسائن سے
۱۳۹۱ $c^2 = a^2 + b^2$ یعنی مسئلہ فیثاغورث حاصل ہوتا ہے۔

۱۳۹۲ **سوالات**

۱۳۹۳ **ریڈیئن، درجہ اور دائری قوس**

۱۳۹۴

۱۳۹۵ سوال ۱.۲۵۳: رداس $10\,\text{cm}$ کے دائرے پر کتنی لمبائی کی قوس (الف) $\frac{4\pi}{5}$ ریڈیئن (ب) 110° کا وسطی زاویہ بنائے گی؟

---

[۶۸] lawofcosines

سوال ۱.۲۵۴: رداس 8 کے دائرے پر 10π لمبائی کی قوس، مرکز پر کتنا وسطی زاویہ بناتی ہے؟ جواب درجات اور ریڈیئن میں تلاش کریں۔

سوال ۱.۲۵۵: **کیلکولیٹر** 80° کا وسطی زاویہ بنانے کی خاطر آپ 30 cm قطر کے قرص پر مرکز سے دو خط کھینچنا چاہتے ہیں۔ محیط پر قرص کی لمبائی 1 mm درستگی تک تلاش کریں۔

سوال ۱.۲۵۶: **کیلکولیٹر** ایک میٹر قطر کے پہیے کو ہموار زمین پر 30 cm چلایا جاتا ہے۔ پہیا کتنا زاویہ گھوما ہو گا؟ جواب (الف) ریڈیئن کے دسواں حصہ اور (ب) درجے کے ایک حصہ درستگی تک تلاش کریں۔

تکونیاتی تفاعل کی قدر پیمائی

سوال ۱.۲۵۷: درج ذیل بایاں جدول مکمل کریں۔ کیلکولیٹر یا جدول سے جوابات پڑھنے کی اجازت نہیں۔

θ	$-\pi$	$-\frac{2\pi}{3}$	0	$\frac{\pi}{2}$	$\frac{3\pi}{4}$
$\sin\theta$					
$\cos\theta$					
$\tan\theta$					
$\cot\theta$					
$\sec\theta$					
$\csc\theta$					

θ	$-\frac{3\pi}{2}$	$-\frac{\pi}{3}$	$-\frac{\pi}{6}$	$\frac{\pi}{4}$	$\frac{5\pi}{8}$
$\sin\theta$					
$\cos\theta$					
$\tan\theta$					
$\cot\theta$					
$\sec\theta$					
$\csc\theta$					

سوال ۱.۲۵۸: درج بالا دایاں جدول مکمل کریں۔ کیلکولیٹر یا جدول سے جوابات پڑھنے کی اجازت نہیں۔

سوال ۱.۲۵۹ تا سوال ۱.۲۶۴ میں $\sin x$ ، $\cos x$ ، $\tan x$ میں سے ایک دیا گیا ہے۔ باقی دو تفاعل کو دیے گئے وقفے کے اندر تلاش کریں۔

سوال ۱.۲۵۹: $\sin x = \frac{3}{5}, \quad$ دائرہ کار: $[\frac{\pi}{2}, \pi]$

سوال ۱.۲۶۰: $\tan x = 2, \quad$ دائرہ کار: $[0, \frac{\pi}{2}]$

سوال ۱.۲۶۱: $\cos x = \frac{1}{3}, \quad$ دائرہ کار: $[-\frac{\pi}{2}, 0]$

سوال ۱.۲۶۲: $\cos x = -\frac{5}{13}, \quad$ دائرہ کار: $[\frac{\pi}{2}, \pi]$

سوال ۱.۲۶۳: $\tan x = \frac{1}{2}, \quad$ دائرہ کار: $[\pi, \frac{3\pi}{2}]$

سوال ۱.۲۶۴: $\sin x = -\frac{1}{2}, \quad$ دائرہ کار: $[\pi, \frac{3\pi}{2}]$

تکونیاتی تفاعل کی ترسیم

سوال ۱.۲۶۵ تا سوال ۱.۲۷۴ میں دیا گیا تفاعل ترسیم کریں۔ ہر تفاعل کا دوری عرصہ تلاش کریں۔

سوال ۱.۲۶۵: $\sin 2x$

سوال ۱.۲۶۶: $\sin \frac{x}{2}$

سوال ۱.۲۶۷: $\cos \pi x$

سوال ۱.۲۶۸: $\cos \frac{\pi x}{2}$

سوال ۱.۲۶۹: $-\sin \frac{\pi x}{3}$

سوال ۱.۲۷۰: $-\cos 2\pi x$

سوال ۱.۲۷۱: $\cos(x - \frac{\pi}{2})$

سوال ۱.۲۷۲: $\sin(x + \frac{\pi}{2})$

سوال ۱.۲۷۳: $\sin(x - \frac{\pi}{4}) + 1$

سوال ۱.۲۷۴: $\cos(x + \frac{\pi}{4}) - 1$

سوال ۱.۲۷۵ تا سوال ۱.۲۷۸ میں دیے تفاعل کو ts مستوی میں ترسیم کریں جہاں افقی محور t ہے۔ ہر تفاعل کا دوری عرصہ اور تشاکل تلاش کریں۔

سوال ۱.۲۷۵: $s = \cot 2t$

سوال ۱.۲۷۶: $s = -\tan \pi t$

سوال ۱.۲۷۷: $s = \sec \frac{\pi t}{2}$

سوال ۱.۲۷۸: $s = \csc \frac{t}{2}$

سوال ۱.۲۷۹: کمپیوٹر استعمال کرتے ہوئے

(الف) $y = \cos x$ اور $y = \sec x$ کو $-\frac{3\pi}{2} \leq x \leq \frac{3\pi}{2}$ کے لئے ایک ساتھ ترسیم کریں۔ $\sec x$ کے رویہ پر $\cos x$ کی قیمت اور علامت کے لحاظ سے تبصرہ کریں۔

(ب) $y = \sin x$ اور $y = \csc x$ کو $-pi \leq x \leq 2\pi$ کے لئے ایک ساتھ ترسیم کریں۔ $\csc x$ کے رویہ پر $\sin x$ کی قیمت اور علامت کے لحاظ سے تبصرہ کریں۔

سوال ۱.۲۸۰: $y = \tan x$ اور $y = \cot x$ کو $-7 \leq x7$ کے لئے ایک ساتھ ترسیم کریں۔ $\tan x$ کی قیمت اور علامت کے لحاظ سے $\cot x$ پر تبصرہ کریں۔

سوال ۱.۲۸۱: $y = \sin x$ اور $y = \lfloor \sin x \rfloor$ کو ایک ساتھ ترسیم کریں۔ $\lfloor \sin x \rfloor$ کا دائرہ کار اور سعت تلاش کریں۔

سوال ۱.۲۸۲: $y = \sin x$ اور $y = \lceil \sin x \rceil$ کو ایک ساتھ ترسیم کریں۔ $\lceil \sin x \rceil$ کا دائرہ کار اور سعت تلاش کریں۔

اضافی تکونیاتی مماثل

مجموعہ زاویہ کلیات استعمال کرتے ہوئے سوال ۱.۲۸۳ تا سوال ۱.۲۸۸ میں دیے گئے مماثل حاصل کریں۔

سوال ۱.۲۸۳: $\cos(x - \frac{\pi}{2}) = \sin x$

سوال ۱.۲۸۴: $\cos(x + \frac{\pi}{2}) = -\sin x$

۳۴۵ سوال ۱.۲۸۵: $\sin(x + \frac{\pi}{2}) = \cos x$

۳۴۶ سوال ۱.۲۸۶: $\sin(x - \frac{\pi}{2}) = -\cos x$

۳۴۷ سوال ۱.۲۸۷: $\cos(A - B) = \cos A \cos B + \sin A \sin B$

۳۴۸ سوال ۱.۲۸۸: $\sin(A - B) = \sin A \cos B - \cos A \sin B$

۳۴۹ سوال ۱.۲۸۹: اگر سوال ۱.۲۸۷ میں $B = A$ پُر کیا جائے تب کیا حاصل ہو گا؟ کیا آپ حاصل کردہ مماثل کو پہلے سے جانتے ہیں؟

۳۵۰ سوال ۱.۲۹۰: مجموعہ زاویہ کلیات میں $B = 2\pi$ لینے سے کیا حاصل ہو گا؟ کیا آپ نتائج سے مطمئن ہیں؟

۳۵۱

۳۵۲ **مجموعہ زاویہ کلیات کا استعمال**

۳۵۳ سوال ۱.۲۹۱ تا سوال ۱.۲۹۴ میں دی گئی مقدار کو $\sin x$ اور $\cos x$ کی صورت میں لکھیں۔

۳۵۴ سوال ۱.۲۹۱: $\cos(\pi + x)$

۳۵۵ سوال ۱.۲۹۲: $\sin(2\pi - x)$

۳۵۶ سوال ۱.۲۹۳: $\sin(\frac{3\pi}{2} - x)$

۳۵۷ سوال ۱.۲۹۴: $\cos(\frac{3\pi}{2} + x)$

۳۵۸ سوال ۱.۲۹۵: $\sin(\frac{\pi}{4} + \frac{\pi}{3})$ استعمال کرتے ہوئے $\sin \frac{7\pi}{12}$ کی قیمت حاصل کریں۔

۳۵۹ سوال ۱.۲۹۶: $\cos(\frac{\pi}{4} + \frac{2\pi}{3})$ استعمال کرتے ہوئے $\cos \frac{11\pi}{12}$ کی قیمت حاصل کریں۔

۳۶۰ سوال ۱.۲۹۷: $\cos \frac{\pi}{12}$ کی قیمت حاصل کریں۔

۳۶۱ سوال ۱.۲۹۸: $\sin \frac{5\pi}{12}$ کی قیمت حاصل کریں۔

۳۶۲ **دوہرا زاویہ کلیات کا استعمال**

۳۶۳ سوال ۱.۲۹۹ تا سوال ۱.۳۰۲ میں تفاعل کی قیمت تلاش کریں۔

۳۶۴ سوال ۱.۲۹۹: $\cos^2 \frac{\pi}{8}$

۳۶۵ سوال ۱.۳۰۰: $\cos^2 \frac{\pi}{12}$

۳۶۶ سوال ۱.۳۰۱: $\sin^2 \frac{\pi}{12}$

۳۶۷ سوال ۱.۳۰۲: $\sin^2 \frac{\pi}{8}$

۳۶۸ **نظریہ اور مثالیں**

۳۶۹

۳۷۰ سوال ۱.۳۰۳: ٹینجنٹ مجموعہ زاویہ کا کلیہ $\tan(A + B) = \frac{\tan A + \tan B}{1 - \tan A \tan B}$ ہے۔ یہ کلیہ اخذ کریں۔

۳۷۱ سوال ۱.۳۰۴: $\tan(A - B)$ کا کلیہ اخذ کریں۔

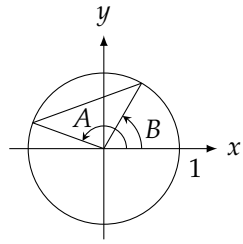

شکل ۱.۶۷: شکل برائے سوال ۱.۳۰۵

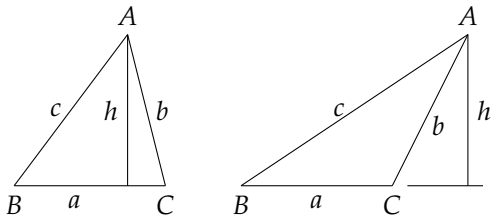

شکل ۱.۶۸: اشکال برائے سوال ۱.۳۰۹

سوال ۱.۳۰۵: قاعدہ کوسائن کو شکل ۱.۶۷ پر لاگو کرتے ہوئے $\cos(A-B)$ کا کلیہ حاصل کریں۔

سوال ۱.۳۰۶: قاعدہ کوسائن کو شکل ۱.۶۷ کے طرز کی شکل پر لاگو کرتے ہوئے $\cos(A+B)$ کا کلیہ اخذ کریں۔ یہ شکل کیسا ہو گا۔

سوال ۱.۳۰۷: کیلکولیٹر ایک مثلث کے اضلاع $a=2$ ، $b=3$ اور زاویہ $C=60^\circ$ ہیں۔ ضلع c کی لمبائی تلاش کریں۔

سوال ۱.۳۰۸: کیلکولیٹر ایک مثلث کے اضلاع $a=2$ ، $b=3$ اور زاویہ $C=40^\circ$ ہیں۔ ضلع c کی لمبائی تلاش کریں۔

سوال ۱.۳۰۹: قاعدہ سائن قاعدہ سائن کہتا ہے کہ اگر مثلث کے زاویے A ، B ، C کے سامنے اضلاع بالترتیب a ، b ، c ہوں تب درج ذیل ہو گا۔

$$\frac{\sin A}{a} = \frac{\sin B}{b} = \frac{\sin C}{c}$$

اشکال ۱.۶۸ اور مماثل $\sin(\pi-\theta)=\sin\theta$ استعمال کرتے ہوئے اس قاعدہ کو اخذ کریں۔

سوال ۱.۳۱۰: کیلکولیٹر ایک مثلث کے اضلاع $a=2$ ، $b=3$ اور زاویہ $C=60^\circ$ ہیں۔ $\sin B$ کو قاعدہ سائن سے حاصل کریں۔

سوال ۱.۳۱۱: کیلکولیٹر ایک مثلث کا ضلع $c=2$ اور زاویے $A=\frac{\pi}{4}$ اور $B=\frac{\pi}{3}$ ہیں۔ زاویہ A کا مخالف ضلع a تلاش کریں۔

سوال ۱.۳۱۲: تخمین $\sin x \approx x$ x کی چھوٹی قیمتوں کے لئے $\sin x \approx x$ ہوتا ہے جہاں x کی ناپ ریڈیئن میں ہے۔ اس کی وجہ حصہ ۱.۴.۷ میں بتلائی جائے گی۔ (اپنی تسلی کے لئے کیلکولیٹر کی مدد سے 0.001 اور اس کے سائن کی قیمتوں کا موازنہ کریں۔) $|x| < 0.1$ کے لئے تخمینی خلل 5000 میں 1 حصہ سے کم ہو گا۔

(الف) کمپیوٹر پر $y=x$ اور $y=\sin x$ کو مبدا کے قریب قیمتوں کے لئے ترسیم کریں جہاں x کی ناپ ریڈیئن میں ہے۔ مبدا کے بالکل قریب کیا صورت حال ہے؟

(ب) کمپیوٹر پر $y=x$ اور $y=\sin x$ کو مبدا کے قریب قیمتوں کے لئے ترسیم کریں جہاں x کی پیمائش درجات میں ہے۔ مبدا کے بالکل قریب کیا صورت حال ہے؟

(پ) کیلکولیٹر استعمال کرتے ہوئے $x=0.1$ کے لئے $\sin x$ حاصل کریں۔ اگر آپ کا کیلکولیٹر ریڈیئن استعمال کر رہا ہو تب جواب تقریباً 0.1 ہی ہو گا۔ اگر کیلکولیٹر درجات استعمال کر رہا ہو تب جواب مختلف ہو گا۔

عمومی سائنی ترسیم

شکل ۱.۶۹ میں درج ذیل تفاعل کی ترسیم یعنی عمومی سائن ترسیم دکھائی گئی ہے جہاں $|A|$ حیطہ، $|B|$ دوری عرصہ، C افقی منتقلی اور D انتصابی منتقلی

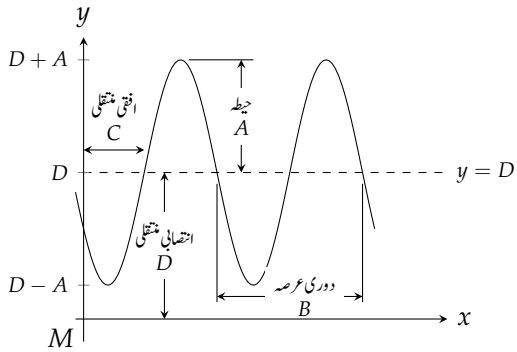

شکل ۱.۶۹: عمومی سائن تفاعل

۳۹۳ ہے۔ سوال ۱.۳۱۳ تا سوال ۱.۳۱۶ میں عمومی سائن تفاعل کے A ، B ، C اور D تلاش کریں۔ تفاعل ترسیم کریں۔

$$f(x) = A\sin\left(\tfrac{2\pi}{B}(x-C)\right) + D$$

۳۹۴

۳۹۵ سوال ۱.۳۱۳: $y = 2\sin(x+\pi) - 1$

۳۹۶ سوال ۱.۳۱۴: $y = \frac{1}{2}\sin(\pi x - \pi) + \frac{1}{2}$

۳۹۷ سوال ۱.۳۱۵: $y = -\frac{2}{\pi}\sin(-\frac{\pi t}{2}) + \frac{1}{\pi}$

۳۹۸ سوال ۱.۳۱۶: $y = \frac{L}{2\pi}\sin\frac{2\pi t}{L}, \quad L > 0$

۳۹۹ سوال ۱.۳۱۷ تا سوال ۱.۳۱۷ میں عمومی سائن تفاعل $f(x) = A\sin(\frac{2\pi}{B}(x-C)) + D$ پر ترسیم کی مدد سے غور کیا جائے گا۔ ترسیم کے
۴۰۰ لئے کمپیوٹر استعمال کریں۔

۴۰۱ سوال ۱.۳۱۷: دوری عرصہ $A = 3, C = D = 0$ لیتے ہوئے (الف) $B = 1, 3, 2\pi, 5\pi$ کے لئے وقفہ
۴۰۲ $-4\pi \leq x \leq 4\pi$ پر تفاعل ترسیم کریں۔ دوری عرصہ بڑھانے سے تفاعل کی صورت پر کیا اثر ہوتا ہے؟ (ب) B کی منفی قیمتوں کے لئے ترسیم
۴۰۳ پر کیا اثر ہوگا؟ $B = -3$ اور $B = -2\pi$ کے لئے ترسیم کرتے ہوئے دیکھیں۔

۴۰۴ سوال ۱.۳۱۸: افقی منتقلی $A = 3, B = 6, D = 0$ لیتے ہوئے (الف) تفاعل $f(x)$ کو $C = 0, 1, 2$ کے لئے وقفہ
۴۰۵ $-4\pi \leq x \leq 4\pi$ پر ترسیم کریں۔ C کی بڑھتے مثبت قیمت کی ترسیم پر کیا اثر ہوگا؟ (ب) C کی منفی قیمتوں کے لئے ترسیم کیسی ہوگی۔ (پ)
۴۰۶ صفر افقی منتقلی کے لئے C کی کم تر مثبت قیمت کیا ہوگی؟ ترسیم کر کے اپنے جواب کی تصدیق کریں۔

۴۰۷ سوال ۱.۳۱۹: انتصابی منتقلی $A = 3, B = 6, C = 0$ لیتے ہوئے (الف) تفاعل $f(x)$ کو $D = 0, 1, 3$ کے لئے وقفہ
۴۰۸ $-4\pi \leq x \leq 4\pi$ پر ترسیم کریں۔ D کی بڑھتی مثبت قیمتوں کے لئے ترسیم پر کیا اثر ہوگا؟ (ب) D کی منفی قیمتوں کے لئے ترسیم کیسی ہوگی؟

سوال ۱.۳۲۰: حیطہ $B = 6, C = D = 0$ لیتے ہوئے (الف) A کی مثبت بڑھتی قیمتوں کا ترسیم پر کیا اثر ہو گا؟ $f(x)$ کو $A =$ $1, 5, 9$ کے لئے ترسیم کرتے ہوئے اپنے جواب کی تصدیق کریں۔ (ب) A کی منفی قیمتوں کے لئے ترسیم کیسی ہو گی؟

باب ۲

حدود اور استمرار

جائزہ

تفاعل کی حد کا تصور ان بنیادی تصورات میں سے ایک ہے جو احصاء کو الجبرا اور تکونیات سے مختلف بناتا ہے۔

اس باب میں ہم حدود کے تصور کو پہلے وجدانی طور پر اور بعد میں باضابطہ وضع کرتے ہیں۔ ہم حدود کو استعمال کرتے ہوئے تفاعل f میں تبدیلی پر غور کرتے ہیں۔ کچھ تفاعل مسلسل تبدیل ہوتے ہیں جہاں x میں چھوٹی تبدیلی، $f(x)$ میں چھوٹی تبدیلی ہی پیدا کرتی ہے۔ دیگر تفاعل میں x کی چھوٹی تبدیلی، $f(x)$ میں چھلانگ یا غیر یقینی تبدیلی پیدا کر سکتی ہے۔ ہم حدود کو استعمال کرتے ہوئے تفاعل کی ترسیم کے مماثل خطوط متعارف کریں گے۔ اس جیومیٹریائی استعمال کی وجہ سے تفاعل کے تفرق کا تصور پیدا ہو گا۔ تفاعل کا تفرق، جس پر باب ۳ میں تفصیلاً غور کیا جائے گا، تفاعل کی تبدیلی تعین کرتا ہے۔

۲.۱ تبدیلی کی شرح اور حد

اس حصہ میں ہم تبدیلی کی شرح کی دو مثالیں، رفتار اور نمو آبادی متعارف کرتے ہیں جن سے اس باب کا اصل موضوع، حد کا تصور پیدا ہو گا۔

رفتار

کسی بھی دورانیے میں متحرک جسم کی اوسط رفتار سے مراد اس وقت میں طے فاصلہ تقسیم دورانیہ ہے۔

مثال ۲.۱: ایک پتھر 100 m کی بلندی سے گرتا ہے۔ (الف) پہلے دو سیکنڈ میں (ب) پہلے سیکنڈ سے دوسرے سیکنڈ تک کے دورانیے میں پتھر کی اوسط رفتار کیا ہو گی؟

حل: ہم جانتے ہیں کہ سطح زمین کے قریب ساکن حالت سے گرتا ہوا جسم پہلے t سیکنڈوں میں

$$y = 4.9t^2$$

میٹر فاصلہ طے کرتا ہے۔ یوں اولین t سیکنڈ میں اوسط رفتار جاننے کے لئے ہم فاصلے میں تبدیلی Δy کو وقت میں تبدیلی Δt سے تقسیم کرتے ہیں۔

(الف) اولین دو سیکنڈ میں اوسط رفتار $\frac{\Delta y}{\Delta t} = \frac{4.9(2)^2-4.9(0)^2}{2-0} = 9.8\,\mathrm{m\,s^{-1}}$ ہو گی۔

(ب) پہلے اور دوسرے سیکنڈ کے دوران اوسط رفتار $\frac{\Delta y}{\Delta t} = \frac{4.9(2)^2-4.9(1)^2}{2-1} = 14.7\,\mathrm{m\,s^{-1}}$ ہو گی۔ □

مثال ۲.۲: پتھر کی رفتار $t = 1\,\mathrm{s}$ اور $t = 2\,\mathrm{s}$ پر تلاش کریں۔

حل: ہم وقتی وقفہ $[t_0, t_0 + h]$ پر اوسط رفتار حاصل کرتے ہیں، یعنی درج ذیل۔

$$\frac{\Delta y}{\Delta t} = \frac{4.9(t_0 + h)^2 - 4.9t_0^2}{h}$$

چونکہ کسی بھی عدد کو صفر سے تقسیم نہیں کیا جا سکتا، لہٰذا درج بالا کلیہ میں $h = 0$ پُر کرتے ہوئے "لمحاتی رفتار" حاصل نہیں کی جا سکتی۔ البتہ اس کلیے کو استعمال کرتے ہوئے ہم کم سے کم دورانیے کے لئے اوسط رفتار حاصل کر سکتے ہیں۔ یوں $t_0 = 1$ اور $t_0 = 2$ کے لئے $h = 0.1, 0.01, \cdots$ لیتے ہوئے درج ذیل اوسط رفتار حاصل کی جا سکتی ہیں۔

h	$t_0 = 1$ پر اوسط رفتار	$t_0 = 2$ پر اوسط رفتار
1	14.7	24.5
0.1	10.29	20.09
0.01	9.84899	19.64899
0.001	9.80489	19.60489
0.0001	9.800489	19.60049

آپ دیکھ سکتے ہیں کہ $t_0 = 1$ کے لئے h کی قیمت کم سے کم کرتے ہوئے اوسط رفتار $9.8\,\mathrm{m\,s^{-1}}$ کے قریب ہوتی جاتی ہے جس سے ہم کہہ سکتے ہیں کہ $t_0 = 1$ پر پتھر کی رفتار $9.8\,\mathrm{m\,s^{-1}}$ ہو گی۔ اسی طرح $t_0 = 2$ پر پتھر کی رفتار $19.6\,\mathrm{m\,s^{-1}}$ نظر آئے گی۔ □

اوسط شرح تبدیلی اور سیکنٹ خطوط

x کے لحاظ سے تفاعل $f(x)$ کی اوسط شرح تبدیلی کو وقفہ $[x_1, x_2]$ پر حاصل کرنے کی خاطر ہم y کی قیمت میں تبدیلی، $\Delta y = f(x_2) - f(x_1)$ کو x کی قیمت میں تبدیلی $\Delta x = x_2 - x_1 = h$ سے تقسیم کرتے ہیں۔

تعریف: x کے لحاظ سے وقفہ $[x_1, x_2]$ پر $y = f(x)$ کی اوسط شرح تبدیلی درج ذیل ہو گی۔

$$\frac{\Delta y}{\Delta x} = \frac{f(x_2) - f(x_1)}{x_2 - x_1} = \frac{f(x_1 + h) - f(x_1)}{h}$$

□

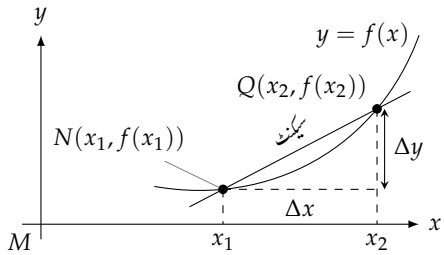

شکل ۱.۲: منحنی کی اوسط شرح تبدیلی سیکنٹ کے ڈھلوان کے برابر ہو گی۔

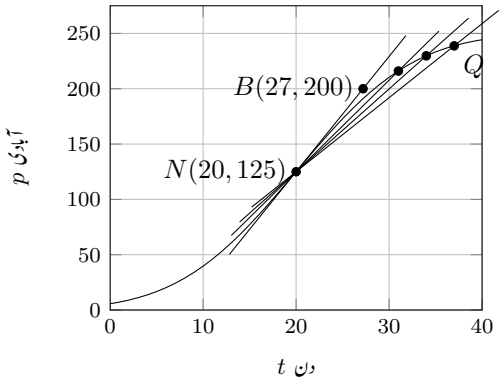

شکل ۳.۲: مکھی کی بیسویں دن نمو آبادی

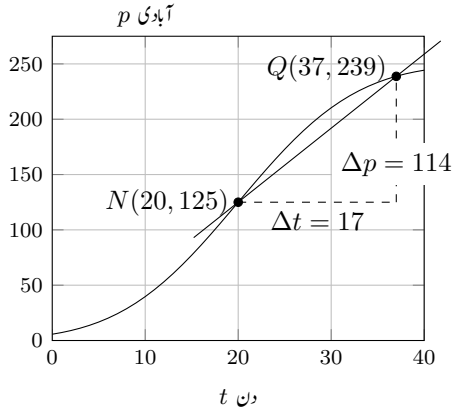

شکل ۲.۲: مکھی کی نمو آبادی

آپ دیکھ سکتے ہیں کہ وقفہ $[x_1, x_2]$ پر f کی اوسط شرح تبدیلی، نقطہ $N(x_1, f(x_1))$ اور نقطہ $Q(x_2, f(x_2))$ سے گزرنے والے خط کے ڈھلوان کی برابر ہے (شکل ۱.۲)۔ جیومیٹری میں ترسیم پر کسی دو نقطوں سے گرتے ہوئے خط کو ترسیم کا سیکنٹ[1] کہتے ہیں۔ یوں x_1 سے x_2 تک اوسط شرح تبدیلی سیکنٹ NQ کے ڈھلوان کے برابر ہے۔

مثال ۳.۲: نمو آبادی کی اوسط شرح

ایک تجربہ میں، قابو ماحول میں، مکھیوں کی تعداد 40 دن کے عرصے پر روزانہ گنی گئی۔ تعداد بالمقابل دنوں کو ترسیم کرتے ہوئے نقطوں کو ہموار منحنی سے جوڑا گیا (شکل ۲.۲)۔ 20 ویں دن سے 37 ویں دن تک آبادی کی اوسط شرح تبدیلی دریافت کریں۔

حل: 20 ویں دن آبادی 125 تھی جبکہ 37 ویں دن آبادی 239 تھی۔ یوں $239 - 125 = 114$ دنوں میں آبادی میں $37 - 20 = 17$

[1] secant

$125 = 114$ تبدیل رونما ہوئی۔ یوں شرح تبدیلی درج ذیل ہو گی

$$\frac{\Delta p}{\Delta t} = \frac{114}{17} = 6.7 \text{(مکھیاں فی دن)}$$

جو شکل ۲.۲ میں سیکنٹ NQ کا ڈھلوان ہے۔ □

درج بالا مثال میں 20 ویں دن سے 37 ویں دن تک کی اوسط شرح تبدیلی حاصل کی گئی جو ہمیں 20 ویں دن کی تبدیلی کی شرح کے بارے میں کوئی معلومات فراہم نہیں کرتی۔ اس کے لئے ہمیں 20 ویں دن کے قریب حساب کرنا ہو گا۔

مثال ۲.۴: مثال ۲.۳ میں 20 ویں دن آبادی میں تبدیلی کی شرح کیا ہے؟

حل: ہمیں نقطہ Q کو نقطہ N کے قریب سے قریب تر کرتے ہوئے شرح حاصل کرنی ہو گی (شکل ۲.۳)۔ یوں درج ذیل حاصل ہوتی ہے۔

Q	$\frac{\Delta p}{\Delta t}$
$(37, 239)$	$\frac{239-125}{37-20} = 6.7$
$(35, 230)$	$\frac{230-125}{35-20} = 7$
$(32, 216)$	$\frac{216-125}{32-20} = 7.6$
$(27, 200)$	$\frac{200-125}{27-20} = 10.7$

جیسے جیسے Q بائیں منتقل کیا جائے، خط NQ نقطہ N کے گرد گھڑی مخالف گھومتا ہے۔ ہم دیکھتے ہیں کہ یہ خط آخر کار NB کو مس کرتا ہے۔ اس خط کو دی گئی منحنی کا **مماس**[2] کہتے ہیں۔ اس طرح ہم توقع کرتے ہیں کہ 20 ویں دن آبادی کی تبدیلی کی شرح 10.7 مکھیاں فی دن ہو گی۔ □

لمحہ $t = 1$ اور لمحہ $t = 2$ پُر کرتے ہوئے پتھر کی رفتار یا 20 ویں دن شرح تبدیلی کو **لمحاتی شرح تبدیلی**[3] کہتے ہیں۔ جیسا آپ نے دیکھا، ہم اوسط شرح تبدیلی کی تحدیدی قیمت سے لمحاتی شرح تبدیلی حاصل کرتے ہیں۔ درج بالا مثال میں ہم نے خط مماس کو بطور خط سیکنٹ کی تحدیدی صورت پیش کیا۔ لمحاتی شرح اور مماس کا گہرا تعلق ہے جو دیگر موضوعات میں بھی پیش آتا ہے۔ اس تعلق کو مزید سمجھنے کی خاطر ہمیں تحدیدی قیمتوں کا تعین کرنا سیکھنا ہو گا جنہیں ہم **حد**[4] کہتے ہیں۔

تفاعل کی تحدیدی قیمتیں

تحدیدی قیمت کی تعریف سے قبل مزید ایک مثال دیکھتے ہیں۔

مثال ۲.۵: تفاعل $f(x) = \frac{x^2-1}{x-1}$ نقطہ $x = 1$ کے قریب کیسا رویہ رکھتا ہے؟

حل: چونکہ صفر سے کسی بھی عدد کو تقسیم نہیں کیا جا سکتا لہٰذا ماسوائے $x = 1$ کے، یہ کلیہ تمام حقیقی اعداد کے لئے f تعین کرتا ہے۔ کسی بھی $x \neq 1$ کے لئے ہم اس کلیے کی سادہ صورت حاصل کر سکتے ہیں:

$$f(x) = \frac{x^2-1}{x-1} = \frac{(x-1)(x+1)}{x-1} = x+1 \qquad (x \neq 1)$$

---

[2] tangent
[3] instantaneousratesofchange
[4] limits

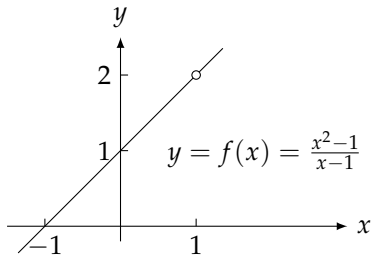

شکل ۲.۴: شکل برائے مثال ۲.۵

۱۴۶۸ یوں خط $y = x + 1$ جس سے نقطہ $x = 1$ یعنی $(1, 2)$ خارج کیا گیا ہو اس تفاعل کو ظاہر کرتا ہے۔ اس نقطے کو شکل ۲.۴ میں بطور سوراخ دکھایا
۱۴۶۹ گیا ہے۔ اگرچہ نقطہ $f(1)$ غیر معین ہے، ہم x کی قیمت 1 کے قریب سے قریب لیتے ہوئے $f(x)$ کی قیمت 2 کے جتنا قریب چاہیں کر سکتے ہیں۔

$x(\neq 1)$	$f(x) = \frac{x^2-1}{x-1} = x + 1,\ (x \neq 1)$
0.9	1.9
1.1	2.1
0.99	1.99
1.01	2.01
0.999	1.999
1.001	2.001
0.999999	1.999999
1.000001	2.000001

۱۴۷۰ ہم کہتے ہیں کہ x کی قیمت 1 تک پہنچنے سے $f(x)$ کی قیمت 2 تک پہنچتی ہے یا x ایک تک پہنچنے سے $f(x)$ تحدیدی قیمت 2 تک پہنچتی ہے یا حد
۱۴۷۱ 2 تک پہنچتی ہے، جس کو درج ذیل لکھا جاتا ہے۔

$$\lim_{x\to 1} f(x) = 2 \quad \text{یا} \quad \lim_{x\to 1} \frac{x^2-1}{x-1} = 2$$

۱۴۷۲ x کی قیمت x_0 تک پہنچنے کو $x \to x_0$ لکھا جاتا ہے۔ □

۱۴۷۳ تعریف: **حد کی غیر رسمی تعریف**

۱۴۷۴ فرض کریں کہ x_0 کے پاس پڑوس میں کھلے وقفہ پر تفاعل $f(x)$ معین ہے جبکہ عین نقطہ x_0 پر $f(x)$ غیر معین ہو سکتا ہے۔ اگر x_0 کے کافی
۱۴۷۵ قریب x کی تمام قیمتوں کے لئے $f(x)$ کی قیمتیں L کے کافی قریب پائی جاتی ہوں تب ہم کہتے ہیں کہ x کی قیمت x_0 تک پہنچنے سے f کی قیمت **حد**
۱۴۷۶ L تک پہنچتی ہے۔ اس کو ہم درج ذیل لکھتے ہیں۔

$$\lim_{x\to x_0} f(x) = L$$

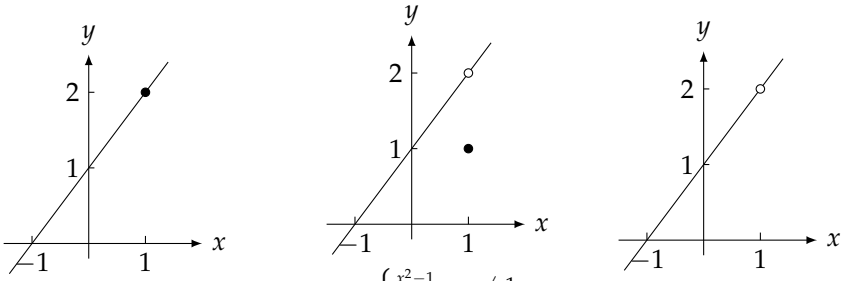

(ا) $f(x) = \frac{x^2-1}{x-1}$ (ب) $g(x) = \begin{cases} \frac{x^2-1}{x-1}, & x \neq 1 \\ 1, & x = 1 \end{cases}$ (ج) $h(x) = x + 1$

شکل ۲.۵: $\lim_{x\to 1} f(x) = \lim_{x\to 1} g(x) = \lim_{x\to 1} h(x) = 2$

۱۳۷۷ □

۱۳۷۸ اس تعریف کو غیر رسمی اس لئے کہیں گے کہ "کافی قریب" طرز کے فقرے لطیف نہیں؛ ان کا مطلب پس منظر پر منحصر ہو گا۔ خرادپر کام کرنے والے ماہر کے
۱۳۷۹ لئے کافی قریب سے مراد $10\ \mu m$ ہو سکتا ہے جبکہ ماہر فلکیات کے لئے اس کا مطلب چند ہزار نوری سال ہو سکتا ہے۔ البتہ یہ تعریف اتنی درست ضرور ہے
۱۳۸۰ کہ ہم حد کو پہچان سکیں اور اس کی قیمت حاصل کر سکیں۔ ہم حد کی بالکل ٹھیک تعریف حصہ ۲.۳ میں پیش کریں گے۔

۱۳۸۱ مثال ۲.۶: $x \to x_0$ کی صورت میں f کی حد کی وجودیت x_0 پر f کی تعریف کے تابع نہیں۔ شکل ۲.۵ میں f کی $x \to 1$ پر حد 2 ہے
۱۳۸۲ اگرچہ $x = 1$ پر f غیر معین ہے۔ تفاعل g کی $x \to 1$ پر حد 2 ہے اگرچہ $x = 1$ پر $g(1) = 1$ ہے۔ یوں $\lim_{x\to 1} g(x) \neq$
۱۳۸۳ $g(1)$ ہو گا۔ صرف تفاعل h کی $x \to 1$ پر حد اور قیمت دونوں 2 کے برابر ہیں یعنی $\lim_{x\to 1} h(x) = h(1)$ ہیں۔ حد اور تفاعل کی قیمتوں
۱۳۸۴ کی برابری ایک خاص بات ہے جس پر حصہ ۲.۵ میں دوبارہ بات کی جائے گی۔ □

۱۳۸۵ بعض اوقات $\lim_{x\to x_0} f(x)$ کی قیمت $f(x_0)$ سے حاصل کی جا سکتی ہے۔ اس کی مثال تفاعل $f(x)$ ہے جو کثیر رکنی اور تکونیاتی تفاعل کا الجبرائی
۱۳۸۶ مجموعہ ہے اور جہاں x_0 پر $f(x_0)$ معین ہے۔ (اس پر مزید بات حصہ ۲.۲ اور حصہ ۲.۵ میں کی جائے گی۔)

۱۳۸۷ مثال ۲.۷:

۱۳۸۸ ا. $\lim_{x\to 2}(4) = 4$

۱۳۸۹ ب. $\lim_{x\to 13}(4) = 4$

۱۳۹۰ ج. $\lim_{x\to 3} x = 3$

۱۳۹۱ د. $\lim_{x\to 2}(5x - 3) = 10 - 3 = 7$

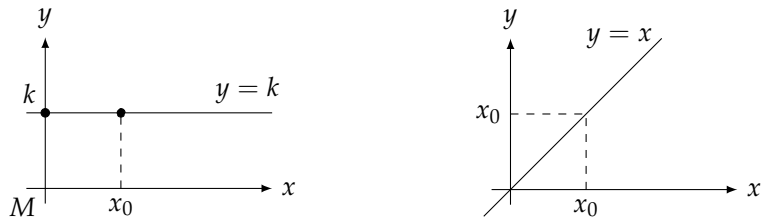

(ا) مماثل تفاعل (ب) مستقل تفاعل

شکل ۲.۶: اشکال برائے مثال ۲.۷

۱۴۹۲ ھ. $\lim_{x\to -2} \frac{3x+4}{x+5} = \frac{-6+4}{-2+5} = -\frac{2}{3}$

۱۴۹۳ □

۱۴۹۴ مثال ۲.۸:

۱۴۹۵ ا. اگر f مماثلی تفاعل $f(x) = x$ ہو تب x_0 کی کسی بھی قیمت کے لئے درج ذیل ہو گا (شکل ۲.۶-ل)۔

$$\lim_{x\to x_0} f(x) = \lim_{x\to x_0} x = x_0$$

۱۴۹۶ ب. اگر f مستقل تفاعل $f(x) = k$ ہو (جہاں k مستقل ہے) تب x_0 کی کسی بھی قیمت کے لئے درج ذیل ہو گا (شکل ۲.۶-ب)۔

$$\lim_{x\to x_0} f(x) = \lim_{x\to x_0} k = k$$

۱۴۹۷ □

۱۴۹۸ مثال ۲.۹: عین ممکن ہے کہ تفاعل کے دائرہ کار میں تفاعل کی حد نہ پائی جاتی ہو۔

۱۴۹۹ درج ذیل تفاعل کا $x \to 0$ پر رویہ کیسا ہو گا؟

۱۵۰۰ ا. $$U(x) = \begin{cases} 0, & x < 0 \\ 1, & x \geq 0 \end{cases}$$

۱۵۰۱ ب. $$g(x) = \begin{cases} \frac{1}{x}, & x \neq 0 \\ 0, & x = 0 \end{cases}$$

۱۵۰۲ ج. $$f(x) = \begin{cases} 0, & x \leq 0 \\ \sin\frac{1}{x}, & x > 0 \end{cases}$$

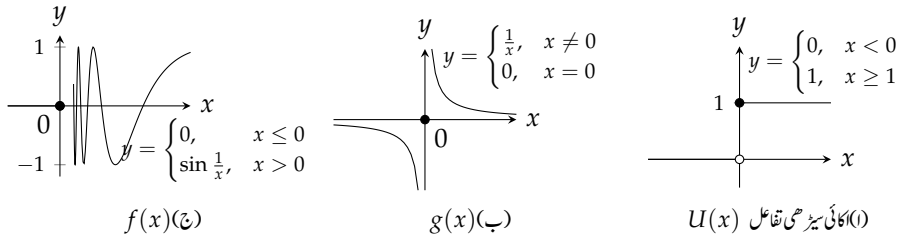

(ا) اکائی سیڑھی تفاعل $U(x)$ (ب) $g(x)$ (ج) $f(x)$

شکل ۲.۷: اشکال برائے مثال ۲.۹

حل:

ا. اکائی سیڑھی تفاعل $U(x)$ کی $x \to 0$ پر کوئی حد نہیں پائی جاتی؛ چونکہ اس نقطے پر تفاعل کی چھلانگ پائی جاتی ہے۔ نقطہ 0 کے کافی قریب x کی منفی قیمتوں کے لئے U کی قیمت 0 ہے جبکہ 0 کے کافی قریب x کی مثبت قیمتوں کے لئے U کی قیمت 1 ہے۔ یوں 0 کے قریب پہنچنے سے U کی منفرد قیمت نہیں پائی جاتی (شکل ۲.۷-ا)۔

ب. $x = 0$ کے کافی قریب تفاعل کی قیمت بے قابو بڑھتی ہے اور کسی ایک منفرد قیمت تک پہنچنے کی کوشش نہیں کرتی (شکل ۲.۷-ب)۔

ج. نقطہ $x = 0$ کے کافی قریب تفاعل بہت زیادہ ارتعاش کرتا ہے۔ اس کی قیمت کسی مخصوص قیمت تک پہنچنے کی کوشش نہیں کرتی (شکل ۲.۷-ج)۔

□

سوالات

۲.۱ ترسیم سے حد

سوال ۲.۱: شکل ۲.۸-ا میں دی گئی ترسیم سے درج ذیل حد تلاش کریں یا حد نہ ہونے کی وجہ بیان کریں۔

ا. $\lim_{x \to 1} g(x)$ ب. $\lim_{x \to 2} g(x)$ ج. $\lim_{x \to 3} g(x)$

سوال ۲.۲: شکل ۲.۸-ب میں دی گئی ترسیم سے درج ذیل حد تلاش کریں یا حد نہ ہونے کی وجہ بیان کریں۔

ا. $\lim_{t \to -2} f(t)$ ب. $\lim_{t \to -1} f(t)$ ج. $\lim_{t \to 0} f(t)$

سوال ۲.۳: تفاعل $y = f(x)$ (شکل ۲.۳-ا) کے لئے درج ذیل فقروں میں سے کون سے درست ہیں؟

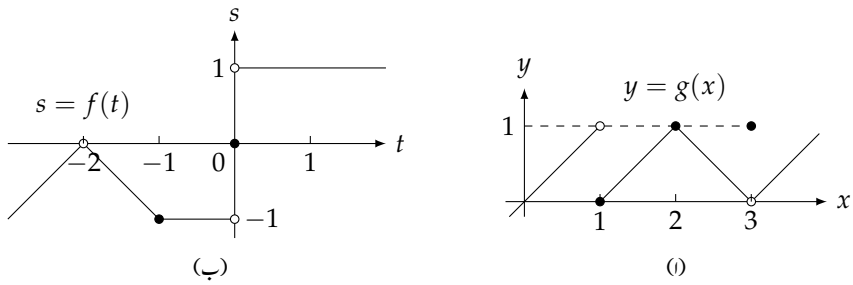

شکل ۲.۸: اشکال برائے سوال ۲.۱ اور سوال ۲.۲

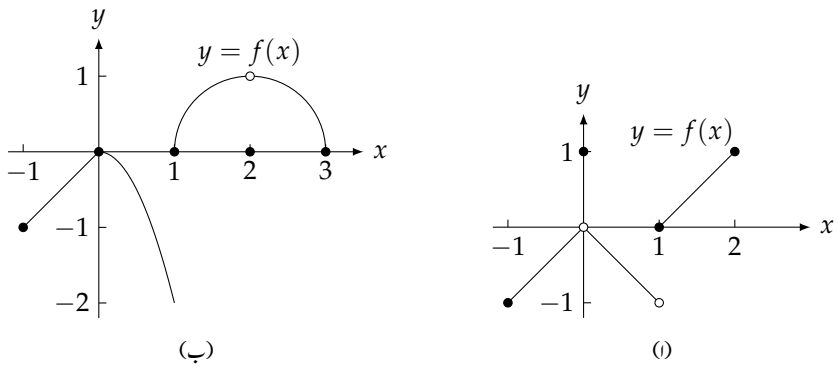

شکل ۲.۹: اشکال برائے سوال ۲.۳ اور سوال ۲.۴

۱۵۲۱ ا. $\lim_{x\to 0} f(x)$ موجود ہے

۱۵۲۲

۱۵۲۳ ب. $\lim_{x\to 0} f(x) = 0$

۱۵۲۴ ج. $\lim_{x\to 0} f(x) = 1$

۱۵۲۵ د. $\lim_{x\to 1} f(x) = 1$

۱۵۲۶ ھ. $\lim_{x\to 1} f(x) = 0$

۱۵۲۷ و. $\lim_{x\to x_0} f(x)$ وقفہ $(-1,1)$ میں ہر نقطہ x_0 پر موجود ہے۔

۱۵۲۸

۱۵۲۹ سوال ۲.۴: تفاعل $y = f(x)$ (شکل ۲.۳-ب) کے لئے درج ذیل فقروں میں سے کون سے درست ہیں؟

۱۵۳۰ ا. $\lim_{x\to 2} f(x)$ موجود نہیں ہے

۱۵۳۱ ب. $\lim_{x\to 2} f(x) = 2$

۱۵۳۲ ج. $\lim_{x\to 1} f(x)$ موجود نہیں ہے

۱۵۳۳ د. $\lim_{x\to x_0} f(x)$ وقفہ $(-1,1)$ میں ہر نقطہ x_0 پر موجود ہے۔

۱۵۳۴

۱۵۳۵ ھ. $\lim_{x\to x_0} f(x)$ وقفہ $(1,3)$ میں ہر نقطہ x_0 پر موجود ہے۔

۱۵۳۶

۱۵۳۷

وجودیت اور حد

سوال ۲.۵ اور سوال ۲.۶ میں حد کی غیر موجودگی کی وجہ بیان کریں۔

سوال ۲.۵: $\lim\limits_{x\to 0} \frac{x}{|x|}$

سوال ۲.۶: $\lim\limits_{x\to 1} \frac{1}{x-1}$

سوال ۲.۷: فرض کریں کہ ماسوائے نقطہ $x = x_0$ تفاعل $f(x)$ تمام حقیقی x کے لئے معین ہے۔ کیا $\lim\limits_{x\to x_0} f(x)$ کی وجودیت کے بارے میں کچھ کہنا ممکن ہے؟ اپنے جواب کی وجہ بیان کریں۔

سوال ۲.۸: فرض کریں کہ تفاعل $f(x)$ وقفہ $[-1,1]$ میں تمام x کے لئے معین ہے۔ کیا $\lim\limits_{x\to 0} f(x)$ کے بارے میں کچھ کہنا ممکن ہے؟ اپنے جواب کی وجہ بیان کریں۔

سوال ۲.۹: اگر $\lim\limits_{x\to 1} f(x) = 5$ ہو تب کیا $x = 1$ پر f کا معین ہونا لازم ہے؟ اگر معین ہونا لازم ہو تب کیا $f(1) = 5$ ہونا لازم ہے؟ کیا $x = 1$ پر ہم f کی قیمت کے بارے میں کچھ کہہ سکتے ہیں؟ وضاحت کریں۔

سوال ۲.۱۰: اگر $f(1) = 5$ ہو تب کیا $\lim\limits_{x\to 1} f(x)$ لازماً موجود ہو گا؟ اگر ایسا ہو تب کیا $\lim\limits_{x\to 1} f(x) = 5$ لازماً ہو گا؟ کیا ہم $\lim\limits_{x\to 1} f(x)$ کے بارے میں کوئی نتیجہ اخذ کر سکتے ہیں؟ وضاحت کریں۔

کیلکولیٹر اور کمپیوٹر کا استعمال

سوال ۲.۱۱: $f(x) = \frac{x^2-9}{x+3}$ لیں۔

ا. f کی قیمتوں کا جدول نقاط $x = -3.1, -3.01, -3.001, \cdots$ پر وہاں تک تلاش کریں جہاں تک آپ کا کیلکولیٹر جواب حاصل کر سکتا ہو۔ اس جدول سے $\lim\limits_{x\to -3} f(x)$ کی اندازاً قیمت حاصل کریں۔ اس کے برعکس نقاط $x = -2.9, -2.99, \cdots$ پر f کی قیمتیں استعمال کرتے ہوئے نتیجہ کیا ہو گا؟

ب. تفاعل کو $x_0 = -3$ کے قریب ترسیم کریں۔ ترسیم پر $x \to -3$ کے لئے y کی قیمت دیکھ کر گزشتہ جزو کے نتائج کی تصدیق کریں۔

ج. $\lim\limits_{x\to -3} f(x)$ کو الجبرائی طریقہ سے اخذ کریں۔

سوال ۲.۱۲: $g(x) = \frac{x^2-2}{x-\sqrt{2}}$ لیں۔

ا. $\sqrt{2}$ کی تخمینی قیمتوں $x = 1.4, 1.41, 1.414, \cdots$ پر تفاعل کی قیمتوں کے جدول سے $\lim\limits_{x\to \sqrt{2}} g(x)$ کی اندازاً قیمت حاصل کریں۔

ب. نقطہ $x_0 = \sqrt{2}$ کے قریب تفاعل ترسیم کریں۔ $x \to \sqrt{2}$ کے لئے ترسیم سے y کی قیمت دیکھ کر گزشتہ جزو کے جواب کی تصدیق کریں۔

ج. $\lim_{x\to\sqrt{2}} g(x)$ کو الجبرائی طور پر حاصل کریں۔

سوال ۲.۱۳: $G(x) = \frac{x+6}{x^2+4x-12}$ لیں۔

ا. نقاط $x = -5.9, -5.99, -5.999, \cdots$ پر G کی قیمتوں کا جدول بنا کر $\lim_{x\to-6} G(x)$ کی اندازاً قیمت حاصل کریں۔ اس کے برعکس $x = -6.1, -6.01, -6.001, \cdots$ پر G کی قیمتیں استعمال کرتے ہوئے کیا نتیجہ حاصل ہو گا؟

ب. G کو $x_0 = 6$ کے قریبی نقطوں پر تقسیم کرتے ہوئے $x \to -6$ کے لئے G کی قیمت دیکھ کر گزشتہ جزو کے نتائج کی تصدیق کریں۔

ج. $\lim_{x\to-6} G(x)$ کو الجبرائی طریقہ سے حاصل کریں۔

سوال ۲.۱۴: $h(x) = \frac{x^2-2x-3}{x^2-4x+3}$ لیں۔

ا. نقاط $x = 2.9, 2.99, 2.999, \cdots$ پر h کی قیمتوں کے جدول سے $\lim_{x\to3} h(x)$ کی اندازاً قیمت تلاش کریں۔ اس کے برعکس $x = 3.1, 3.01, 3.001, \cdots$ پر h کی قیمتیں لیتے ہوئے نتیجہ کیا ہو گا؟

ب. $x_0 = 3$ کے قریب h ترسیم کر کے $x \to 3$ کے لئے $h(x)$ کی قیمت دیکھ کر گزشتہ جزو کے نتائج کی تصدیق کریں۔

ج. $\lim_{x\to3} h(x)$ کو الجبرائی طریقہ سے حاصل کریں۔

سوال ۲.۱۵: $f(x) = \frac{x^2-1}{|x|-1}$ لیں۔

ا. f کی قیمتوں کا جدول x کی ان قیمتوں کے لئے بنائیں جو $x_0 = -1$ تک نیچے سے اور اوپر سے پہنچنے کی کوشش کرتی ہیں۔ اس جدول سے $\lim_{x\to-1} f(x)$ کی اندازاً قیمت تلاش کریں۔

ب. $x_0 = -1$ کے قریب f ترسیم کریں۔ ترسیم سے $x \to -1$ کے لئے y کی قیمتیں دیکھ کر گزشتہ جزو کے نتائج کی تصدیق کریں۔

ج. $\lim_{x\to-1} f(x)$ کو الجبرائی طریقہ سے حاصل کریں۔

سوال ۲.۱۶: $F(x) = \frac{x^2+3x+2}{2-|x|}$ لیں۔

ا. F کی قیمتوں کا جدول x کی ان قیمتوں کے لئے بنائیں جو $x_0 = -2$ تک نیچے سے اور اوپر سے پہنچنے کی کوشش کرتی ہیں۔ اس جدول سے $\lim_{x\to-2} F(x)$ کی اندازاً قیمت تلاش کریں۔

ب. $x_0 = -2$ کے قریب F ترسیم کریں۔ ترسیم سے $x \to -2$ کے لئے y کی قیمتیں دیکھ کر گزشتہ جزو کے نتائج کی تصدیق کریں۔

ج. $\lim_{x\to-2} F(x)$ کو الجبرائی طریقہ سے حاصل کریں۔

سوال ۲.۱۷: $g(\theta) = \frac{\sin\theta}{\theta}$ لیں۔

ا. g کی قیمتوں کا جدول θ کی ان قیمتوں کے لئے بنائیں جو $\theta_0 = 0$ تک نیچے سے اور اوپر سے پہنچنے کی کوشش کرتی ہیں۔ اس جدول سے $\lim_{x\to 0} g(\theta)$ کی اندازاً قیمت تلاش کریں۔

ب. $\theta_0 = 0$ کے قریب g ترسیم کریں۔ ترسیم سے گزشتہ جزو کے نتائج کی تصدیق کریں۔

سوال ۲.۱۸: $G(t) = \frac{1-\cos t}{t^2}$ لیں۔

ا. G کی قیمتوں کا جدول t کی ان قیمتوں کے لئے بنائیں جو $t_0 = 0$ تک نیچے سے اور اوپر سے پہنچنے کی کوشش کرتی ہیں۔ اس جدول سے $\lim_{t\to 0} G(t)$ کی اندازاً قیمت تلاش کریں۔

ب. $t_0 = 0$ کے قریب G ترسیم کریں۔ ترسیم سے گزشتہ جزو کے نتائج کی تصدیق کریں۔

سوال ۲.۱۹: $f(x) = x^{\frac{1}{1-x}}$ لیں۔

ا. f کی قیمتوں کا جدول x کی ان قیمتوں کے لئے بنائیں جو $x_0 = 1$ تک نیچے سے اور اوپر سے پہنچنے کی کوشش کرتی ہیں۔ کیا x کی قیمت $x \to 1$ تک پہنچنے سے f کا تحدیدی نقطہ پایا جاتا ہے؟ اگر تحدیدی نقطہ پایا جاتا ہو، اس کو تلاش کریں۔ اگر نہیں پایا جاتا ہو تب وجہ بیان کریں۔

ب. $x_0 = 1$ کے قریب f ترسیم کریں۔ ترسیم سے گزشتہ جزو کے نتائج کی تصدیق کریں۔

سوال ۲.۲۰: $f(x) = \frac{3^x-1}{x}$ لیں۔

ا. f کی قیمتوں کا جدول x کی ان قیمتوں کے لئے بنائیں جو $x_0 = 0$ تک نیچے سے اور اوپر سے پہنچنے کی کوشش کرتی ہیں۔ کیا x کی قیمت $x \to 0$ تک پہنچنے سے f کا تحدیدی نقطہ پایا جاتا ہے؟ اگر تحدیدی نقطہ پایا جاتا ہو، اس کو تلاش کریں۔ اگر نہیں پایا جاتا ہو تب وجہ بیان کریں۔

ب. $x_0 = 0$ کے قریب f ترسیم کریں۔ ترسیم سے گزشتہ جزو کے نتائج کی تصدیق کریں۔

متغیر کی تحدیدی قیمت پُر کرتے ہوئے حد کا تعین

سوال ۲.۲۱ تا سوال ۲.۲۸ میں متغیر x کی تحدیدی قیمت کو تفاعل میں پُر کرتے ہوئے تفاعل کی حد تلاش کریں۔

سوال ۲.۲۱: $\lim_{x\to 2} 2x$

سوال ۲.۲۲: $\lim_{x\to 0} 2x$

سوال ۲.۲۳: $\lim_{x\to \frac{1}{3}} (3x-1)$

سوال ۲.۲۴: $\lim_{x\to 1} -\frac{1}{3x-1}$

سوال ۲.۲۵: $\lim_{x\to -1} 3x(2x-1)$

سوال ۲.۲۶: $\lim_{x\to -1} \frac{3x^2}{2x-1}$

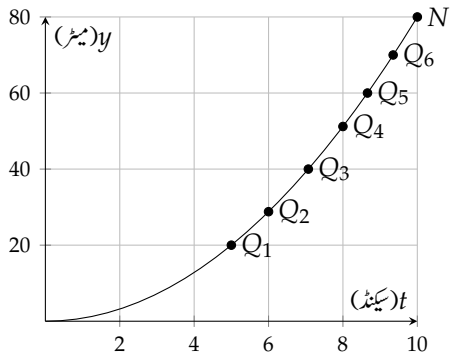

شکل ۲.۱۰: چاند پر ساکن حالت سے گرنے والی چیز کا فاصلہ بالمقابل وقت کی ترسیم

سوال ۲.۲۷: $\lim\limits_{x\to\frac{\pi}{2}} x\sin x$

سوال ۲.۲۸: $\lim\limits_{x\to\pi} \frac{\cos x}{1-\pi}$

اوسط شرح تبدیلی

سوال ۲.۲۹ تا سوال ۲.۳۴ میں دیے وقفے پر تفاعل کی اوسط شرح تبدیلی تلاش کریں۔

سوال ۲.۲۹: $f(x) = x^3 + 1$؛ (الف) $[2, 3]$، (ب) $[-1, 1]$

سوال ۲.۳۰: $g(x) = x^2$؛ (الف) $[-1, 1]$، (ب) $[-2, 0]$

سوال ۲.۳۱: $h(t) = \cos t$؛ (الف) $[\frac{\pi}{4}, \frac{3\pi}{4}]$، (ب) $[\frac{\pi}{6}, \frac{\pi}{2}]$

سوال ۲.۳۲: $g(t) = 2 + \cos t$؛ (الف) $[0, \pi]$، (ب) $[-\pi, \pi]$

سوال ۲.۳۳: $R(\theta) = \sqrt{4\theta + 1}$ ؛ $[0, 2]$

سوال ۲.۳۴: $P(\theta) = \theta^3 - 4\theta^2 + 5\theta$ ؛ $[1, 2]$

سوال ۲.۳۵: چاند پر ساکن حالت سے گرنے والی چیز کا فاصلہ بالمقابل وقت کی ترسیم شکل ۲.۱۰ میں دکھایا گیا ہے۔ (الف) سیکنٹ NQ_1 ، NQ_2 ، $\cdots$ NQ_6 کا اندازاً ڈھلوان تلاش کر کے جدول میں لکھیں۔ (ب) اس جدول سے $t = 10\,\mathrm{s}$ پر رفتار کی اندازاً قیمت حاصل کریں۔

سوال ۲.۳۶: ایک چھوٹی کمپنی کے پہلے چار سال کا منافع درج ذیل ہے۔ (الف) منافع بالمقابل سال کو بطور نقطے ترسیم کرتے ہوئے انہیں ہموار ترین لکیر سے ملائیں۔ (ب) ۱۹۹۲ اور ۱۹۹۴ کے بیچ منافع بڑھنے کی اوسط شرح تلاش کریں۔ (پ) ترسیم استعمال کرتے ہوئے ۱۹۹۲ کے دوران منافع بڑھنے کی

شرح تلاش کریں۔

سال	منافع (لاکھ)
1990	6
1991	27
1992	62
1993	111
1994	174

سوال ۲.۳۷: تفاعل $F(x) = \frac{x+2}{x-2}$ کی قیمتیں نقطہ $x = 2$ ، $\frac{11}{10}$ ، $\frac{101}{100}$ ، $\frac{1001}{1000}$ ، $\frac{10001}{10000}$ اور $x = 1$ پر حاصل کر کے جدول میں لکھیں۔ (الف) جدول میں پائے جانے والے ہر $x \neq 1$ کے لئے وقفہ $[1, x]$ پر تفاعل کی اوسط شرح تبدیلی حاصل کریں۔ (ب) $x = 1$ پر $F(x)$ کی شرح تبدیلی تلاش کریں۔ اگر جدول بڑھانے کی ضرورت ہو تو جدول بڑھائیں۔

سوال ۲.۳۸: $x \geq 0$ کے لئے $g(x) = \sqrt{x}$ لیں۔

ا. وقفہ $[1, 2]$ ، $[1, 1.5]$ اور $[1, 1+h]$ پر x کے لحاظ سے $g(x)$ کی اوسط شرح تبدیلی تلاش کریں۔

ب. صفر کے قریب h کی قیمتوں، مثلاً $h = 0.1, 0.01, 0.001, 0.0001, 0.00001$ کے لئے x کے لحاظ سے وقفہ $[1, 1+h]$ پر $g(x)$ کی اوسط شرح تبدیلی تلاش کریں۔

ج. جدول سے $x = 1$ پر $g(x)$ کی تبدیلی کی شرح کیا ہے؟

د. $h \to 0$ کے لئے $g(x)$ کی تبدیلی کی شرح الجبرائی طریقہ سے حاصل کریں۔

سوال ۲.۳۹: $t \neq 0$ کے لئے $f(t) = \frac{1}{t}$ لیں۔

ا. (الف) وقفہ $t = 2$ تا $t = 3$ اور (ب) وقفہ $t = 2$ تا $t = T$ پر t کے لحاظ سے $g(t)$ کی اوسط شرح تبدیلی تلاش کریں۔

ب. 2 تک پہنچنے والی T کی قیمتوں، مثلاً $T = 2.1$ ، $T = 2.01$ ، $T = 2.001$ ، $T = 2.0001$ ، $T = 2.00001$ اور $T = 2.000001$ ، کے لئے وقفہ $[2, T]$ پر t کے لحاظ سے $f(t)$ کی اوسط شرح تبدیلی تلاش کر کر جدول میں لکھیں۔

ج. اس جدول سے $t = 2$ پر t کے لحاظ سے f کی شرح تبدیلی کیا ہے۔

د. وقفہ $[2, T]$ پر t کے لحاظ سے f کی شرح تبدیلی کی حد $T \to 2$ کے لئے تلاش کریں۔ ($T = 2$ پُر کرنے سے پہلے آپ کو کچھ الجبرا کرنا ہو گا۔)

سوال ۲.۴۰ تا سوال ۲.۴۵ کو کمپیوٹر کی مدد سے حل کریں۔ (الف) نقطہ x_0 کے قریب تفاعل ترسیم کریں۔ (ب) ترسیم کو دیکھ کر تفاعل کی حد کی اندازاً قیمت تلاش کریں۔ (پ) حد کو الجبرائی طور پر حاصل کریں۔

سوال ۲.۴۰: $\lim\limits_{x \to 2} \frac{x^4 - 16}{x - 2}$

سوال ۲.۴۱: $\lim\limits_{x \to -1} \frac{x^3 - x^2 - 5x - 3}{(x+1)^2}$

سوال ۲.۴۲: $\lim_{x\to 0} \frac{\sqrt[3]{1+x}-1}{x}$

سوال ۲.۴۳: $\lim_{x\to 3} \frac{x^2-9}{\sqrt{x^2+7}-4}$

سوال ۲.۴۴: $\lim_{x\to 0} \frac{1-\cos x}{x\sin x}$

سوال ۲.۴۵: $\lim_{x\to 0} \frac{2x^2}{3-3\cos x}$

۲.۲ حد تلاش کرنے کے قواعد

حد تلاش کرنے کے مسئلوں کو اس حصہ میں پیش کیا جائے گا۔ پہلے تین مسئلے مثال ۲.۸ کے نتائج کو لے کر کثیر رکنی، ناطق تفاعل اور طاقتوں کی حد تلاش کرنے میں ہمیں مدد دیتے ہیں۔ چوتھا مسئلہ بعد میں مستعمل حساب کے لئے ہمیں تیار کرتا ہے۔

طاقتوں اور الجبرائی مجموعوں کی حد

مسئلہ ۲.۱: **حد کے خواص**

اگر $\lim_{x\to c} f(x) = L$ اور $\lim_{x\to c} g(x) = M$ ہوں، جہاں L اور M حقیقی اعداد ہیں، تب درج ذیل قواعد مطمئن ہوں گے۔

قاعدہ مجموعہ: $\lim_{x\to c}[f(x)+g(x)] = L+M$

قاعدہ فرق: $\lim_{x\to c}[f(x)-g(x)] = L-M$

قاعدہ ضرب: $\lim_{x\to c}[f(x)\cdot g(x)] = L\cdot M$

قاعدہ مستقل مضرب: $\lim_{x\to c} kf(x) = kL$ (k مستقل عدد ہے)

قاعدہ حاصل تقسیم: $\lim_{x\to c} \frac{f(x)}{g(x)} = \frac{L}{M}$ $M \neq 0$

قاعدہ طاقت: اگر m اور n عدد صحیح ہوں تب $\lim_{x\to c}[f(x)]^{\frac{m}{n}} = L^{\frac{m}{n}}$ ہوگا بشرطیکہ $L^{\frac{m}{n}}$ حقیقی عدد ہو۔

الفاظ میں درج بالا مسئلہ درج ذیل کہتا ہے۔

۱. دو تفاعل کے مجموعے کی حد ان تفاعل کے انفرادی حدوں کا مجموعہ ہو گی۔

۲. دو تفاعل کے فرق کی حد ان تفاعل کے انفرادی حدوں کا فرق ہو گی۔

۳. دو تفاعل کے حاصل ضرب کی حد ان تفاعل کے انفرادی حدوں کا حاصل ضرب ہو گی۔

۴. ایک تفاعل ضربِ مستقل کی حد اس تفاعل کی حد ضربِ مستقل ہو گی۔

۵. دو تفاعل کے حاصل تقسیم کی حد ان تفاعل کے انفرادی حدوں کا حاصل تقسیم ہو گی بشرطیکہ نسب نما تفاعل کی حد غیر صفر ہو۔

۶. تفاعل کے ناطق طاقت کی حد اس تفاعل کی حد کی ناطق طاقت ہو گی بشرطیکہ حد کی ناطق طاقت حقیقی عدد ہو۔

قاعدہ مجموعہ کو حصہ ۲.۳ میں جبکہ قاعدہ 2 تا 5 کو ضمیمہ ب میں ثابت کیا گیا ہے۔ قاعدہ 6 کا ثبوت اعلیٰ کتابوں میں پایا جائے گا۔

مثال ۲.۱۰: $\lim\limits_{x\to c} \frac{x^3+4x^2-3}{x^2+5}$ تلاش کریں۔

حل: مثال ۲.۸ کے نتائج $\lim\limits_{x\to c} x = c$ اور $\lim\limits_{x\to c} k = k$ سے شروع کرتے ہوئے مسئلہ ۲.۱ کی مختلف شق استعمال کرتے ہوئے درج ذیل ملتا ہے۔

ا. $\lim\limits_{x\to c} x^2 = (\lim\limits_{x\to c} x)(\lim\limits_{x\to c} x) = c\cdot c = c^2$ حاصل ضرب یا طاقت

ب. $\lim\limits_{x\to c}(x^2+5) = \lim\limits_{x\to c} x^2 + \lim\limits_{x\to c} 5 = c^2+5$ مجموعہ اور (ا)

ج. $\lim\limits_{x\to c} 4x^2 = 4\lim\limits_{x\to c} x^2 = 4c^2$ ضرب مستقل اور (ا)

د. $\lim\limits_{x\to c}(4x^2-3) = \lim\limits_{x\to c} 4x^2 - \lim\limits_{x\to c} 3 = 4c^2-3$ فرق اور (ج)

ھ. $\lim\limits_{x\to c} x^3 = (\lim\limits_{x\to c} x^2)(\lim\limits_{x\to c} x) = c^2\cdot c = c^3$ حاصل ضرب اور (ا) یا طاقت

و. $\lim\limits_{x\to c}(x^3+4x-3) = \lim\limits_{x\to c} x^3 + \lim\limits_{x\to c}(4x^2-3) = c^3+4c^2-3$ مجموعہ، (ج) اور (د)

ز. $\lim\limits_{x\to c} \frac{x^3+4x^2-3}{x^2+5} = \frac{\lim\limits_{x\to c}(x^3+4x^2-3)}{\lim\limits_{x\to c}(x^2+5)} = \frac{c^3+4c^2-3}{c^2+5}$ حاصل تقسیم، (ھ) اور (ب)

□

مثال ۲.۱۱: $\lim\limits_{x\to -2} \sqrt{4x^2-3}$ تلاش کریں۔

حل:

$$\lim_{x\to -2} \sqrt{4x^2-3} = \sqrt{4(-2)^2-3} \qquad \text{مثال ۲.۱۰-د اور } n = \tfrac{1}{2} \text{ کے ساتھ قاعدہ طاقت}$$
$$= \sqrt{16-3} = \sqrt{13}$$

□

مسئلہ ۲.۱ کے دو نتائج کثیر رکنی اور ناطق تفاعل کی حد تلاش کرنے کو مزید آسان بناتے ہیں۔ $x \to c$ کے لئے کثیر رکنی کی حد تلاش کرنے کی خاطر محض تفاعل کے کلیہ میں x کی جگہ c پُر کریں۔ ناطق تفاعل کی حد $x \to c$ پر تلاش کرنے کی خاطر تفاعل کے کلیہ میں x کی جگہ c پُر کریں بشرطیکہ نسب نما اس نقطہ پر غیر صفر ہو۔

مسئلہ ۲.۲: **کثیر رکنی کی حد، متغیر میں مستقل پُر کرنے سے حاصل ہوگی**
اگر $P(x) = a_n x^n + a_{n-1}x^{n-1} + \cdots + a_0$ ہو تب درج ذیل ہوگا۔

$$\lim_{x\to c} P(x) = P(c) = a_n c^n + a_{n-1}c^{n-1} + \cdots + a_0$$

مسئلہ ۲.۳: **غیر صفر نسب نما کی صورت میں ناطق تفاعل کی حد کلیہ میں متغیر کی جگہ مستقل پُر کرنے سے حاصل ہوگی**
فرض کریں کہ $P(x)$ اور $Q(x)$ کثیر رکنی ہیں اور $Q(c) \neq 0$ ہے تب درج ذیل ہوگا۔

$$\lim_{x\to c} \frac{P(x)}{Q(x)} = \frac{P(c)}{Q(c)}$$

مثال ۲.۱۲:

$$\lim_{x\to -1} \frac{x^3+4x^2-3}{x^2+5} = \frac{(-1)^3+4(-1)^2-3}{(-1)^2+5} = \frac{0}{6} = 0$$

یہ ایک ہی قدم میں مثال ۲.۱۰ کا حل ہے۔ □

صفر نسب نما کا الجبرائی طریقہ سے اسقاط

مسئلہ ۲.۳ ناطق تفاعل پر صرف اس صورت قابل اطلاق ہے جب تحدیدی نقطہ c پر تفاعل کا نسب نما غیر صفر ہو۔ صفر نسب نما کی صورت میں بعض اوقات نسب نما اور شمار کنندہ کے مشترک اجزاء ضربی کاٹتے ہوئے c پر غیر صفر نسب نما حاصل کیا جا سکتا ہے۔ اگر ایسا ممکن ہو تب مشترک اجزاء ضربی کاٹ کر x کی جگہ c پُر کرنے سے حد حاصل کی جا سکتی ہے۔ درج ذیل مثال میں نسب نما اور شمار کنندہ دونوں $x = 1$ پر صفر ہیں۔ یوں $(x-1)$ ان کا مشترک جزو ضربی ہے جس کو کاٹا جا سکتا ہے۔

مثال ۲.۱۳: یکساں جزو کی منسوخی
$\lim_{x\to 1} \frac{x^2+x-2}{x^2-x}$ تلاش کریں۔

حل: ہم $x = 1$ پُر نہیں کر سکتے چونکہ ایسا کرنے سے صفر نسب نما حاصل ہوگا اور صفر سے کسی بھی عدد کو تقسیم نہیں کیا جا سکتا ہے۔ البتہ ہم نسب نما اور شمار کنندہ کو اجزاء ضربی کی صورت میں لکھ کر ان کے مشترک اجزاء ضربی کو آپس میں کاٹ سکتے ہیں۔

$$\frac{x^2+x-2}{x^2-x} = \frac{(x+2)(x-1)}{x(x-1)} = \frac{x+2}{x}$$

اب $x \neq 0$ کی صورت میں درج بالا کو حد تلاش کرنے کے لئے استعمال کیا جا سکتا ہے۔ یوں درج ذیل حاصل ہوتا ہے۔

$$\lim_{x\to 1} \frac{x^2+x-2}{x^2-x} = \lim_{x\to 1} \frac{x+2}{x} = \frac{1+2}{1} = 3$$

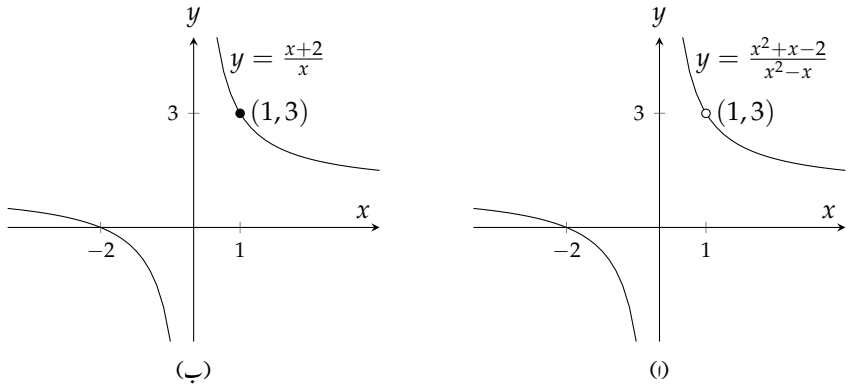

شکل ۲.۱۱: ماسوائے نقطہ $(1,3)$ کے دونوں ترسیم یکساں ہیں

شکل ۲.۱۱ میں $y = \frac{x^2+x-2}{x^2-x}$ اور $y = \frac{x+2}{x}$ کی ترسیمات دکھائی گئی ہیں۔ یہ ترسیمات صرف نقطہ $(1,3)$ پر ایک دوسرے سے مختلف ہیں۔ البتہ اس نقطے پر دونوں تفاعل کی حد ایک سی ہے۔ □

مثال ۲.۱۴: **ایک سے اجزاء پیدا کر کے آپس میں منسوخ کرنا**

$\lim\limits_{h\to 0} \frac{\sqrt{2+h}-\sqrt{2}}{h}$ تلاش کریں۔

حل: ہم $h = 0$ پُر کرتے ہوئے حد تلاش نہیں کر سکتے اور نسب نما اور شمار کنندہ کے مشترک جزو ضربی بھی نہیں پائے جاتے۔ البتہ ہم نسب نما (اور شمار کنندہ) کو جوڑی دار تعلق[۵] $\sqrt{2+h}+\sqrt{2}$ سے ضرب دیتے ہوئے مشترک جزو ضربی پیدا کر سکتے ہیں۔ نسب نما میں جذروں کے بیچ علامت تبدیل کرتے ہوئے جوڑی دار تعلق حاصل ہوتا ہے۔

$$\begin{aligned}
\frac{\sqrt{2+h}-\sqrt{2}}{h} &= \frac{\sqrt{2+h}-\sqrt{2}}{h}\cdot\frac{\sqrt{2+h}+\sqrt{2}}{\sqrt{2+h}+\sqrt{2}} \\
&= \frac{2+h-2}{h(\sqrt{2+h}+\sqrt{2})} \\
&= \frac{h}{h(\sqrt{2+h}+\sqrt{2})} && \text{مشترک جزو ضربی پیدا کیا گیا ہے} \\
&= \frac{1}{\sqrt{2+h}+\sqrt{2}} && \text{جس کو ہم کاٹتے ہیں}
\end{aligned}$$

[۵] conjugateexpression

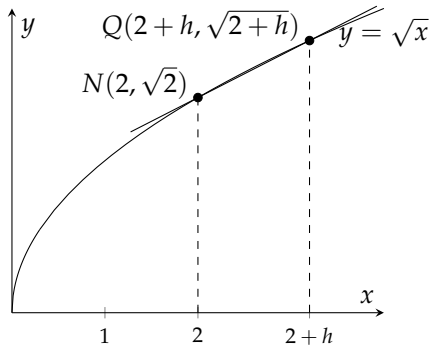

شکل ۲.۱۲: $Q \to N$ کرنے سے سیکنٹ NQ کے ڈھلوان کی حد $\frac{1}{2\sqrt{2}}$ ہے

یوں درج ذیل ہو گا۔

$$\begin{aligned}
\lim_{h\to 0} \frac{\sqrt{2+h}-\sqrt{2}}{h} &= \lim_{h\to 0} \frac{1}{\sqrt{2+h}+\sqrt{2}} \\
&= \frac{1}{\sqrt{2+0}+\sqrt{2}} \qquad \text{نسب نما اب } h=0 \text{ پر صفر نہیں ہے} \\
&= \frac{1}{2\sqrt{2}}
\end{aligned}$$

دھیان رہے کہ تفاعل $\frac{\sqrt{2+h}-\sqrt{2}}{h}$ درحقیقت تفاعل $y = \sqrt{x}$ پر نقطہ $N(2, \sqrt{2})$ اور نقطہ $Q(2+h, \sqrt{2+h})$ کے بیچ سیکنٹ کا ڈھلوان ہے اور $h \to 0$ کرنے سے مراد $Q \to N$ ہے۔ نقطہ Q ترسیم پر N کے بائیں ہاتھ بھی ہو سکتا ہے۔ ہم نے دیکھا کہ اس سیکنٹ کی تحدیدی قیمت $\frac{1}{2\sqrt{2}}$ ہے۔ □

مسئلہ بیچ

درج ذیل مسئلہ بعد میں آنے والے ابواب میں کئی قسم کی حد حاصل کرنے میں ہمیں مدد دیگا۔ اس کو **مسئلہ بیچ**[۶] اس لئے کہتے ہیں کہ اس کا تعلق ایسے تفاعل f سے ہے جس کی قیمتیں تفاعل g اور تفاعل h کی قیمتوں کے بیچ ہو اور جن کا نقطہ c پر ایک ہی حد L ہو۔ ظاہر ہے کہ نقطہ c پر دونوں تفاعل کے بیچ پھنسے ہوئے تفاعل کی قیمت L ہو گی (شکل ۲.۱۳)۔ اس کا ثبوت ضمیمہ ب میں دیا گیا ہے۔

مسئلہ ۲.۴: **مسئلہ بیچ**

فرض کریں کسی کھلے وقفہ جس میں c پایا جاتا ہو میں، (ممکن ہے کہ) ماسوائے $x = c$ پر، تمام x کے لئے

$$g(x) \le f(x) \le h(x)$$

[۶] sandwichtheorem

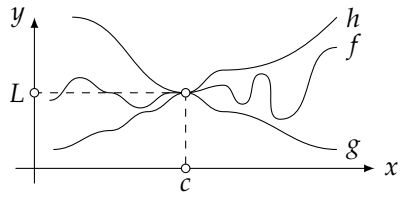

شکل ۲.۱۳: f کی ترسیم h اور g کی ترسیم کے بیچ ہے۔

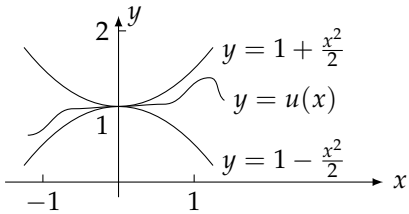

شکل ۲.۱۴: شکل برائے مثال ۲.۱۵

۱۷۲۴ ہے۔مزید فرض کریں کہ

$$\lim_{x\to c} g(x) = \lim_{x\to c} h(x) = L$$

۱۷۲۵ ہے۔تب $\lim_{x\to c} f(x) = L$ ہوگا۔

۱۷۲۶

۱۷۲۷ مثال ۲.۱۵: اگر تمام $x \neq 0$ کے لئے $1 - \frac{x^2}{4} \leq u(x) \leq 1 + \frac{x^2}{2}$ ہو تب $\lim_{x\to 0} u(x)$ تلاش کریں۔

۱۷۲۸ حل: چونکہ

$$\lim_{x\to 0}(1 - \tfrac{x^2}{2}) = 1 \quad \text{اور} \quad \lim_{x\to 0}(1 + \tfrac{x^2}{2}) = 1$$

۱۷۲۹ ہیں لہٰذا مسئلہ بیچ کے تحت $\lim_{x\to 0} u(x) = 1$ ہوگا (شکل ۲.۱۴)۔ □

۱۷۳۰ مثال ۲.۱۶: دکھائیں کہ اگر $\lim_{x\to c}\left|f(x)\right| = 0$ ہو تب $\lim_{x\to c} f(x) = 0$ ہوگا۔

۱۷۳۱ حل: چونکہ $-\left|f(x)\right| \leq f(x) \leq \left|f(x)\right|$ ہے، اور $-\left|f(x)\right|$ اور $\left|f(x)\right|$ کی حد 0 ہے لہٰذا مسئلہ بیچ کے تحت $f(x)$

۱۷۳۲ کی حد بھی 0 ہوگی۔ □

۱۷۳۳ **سوالات**

۱۷۳۴ **۲.۲ حد کا حساب**

۱۷۳۵ سوال ۲.۴۶ تا سوال ۲.۶۱ میں حد تلاش کریں۔

۱۷۳۶ سوال ۲.۴۶: $\lim_{x\to -7}(2x + 5)$

۱۷۳۷ سوال ۲.۴۷: $\lim_{x\to 12}(10 - 3x)$

۱۷۳۸ سوال ۲.۴۸: $\lim_{x\to 2}(-x^2+5x-2)$

۱۷۳۹ سوال ۲.۴۹: $\lim_{x\to -2}(x^3-2x^2+4x+8)$

۱۷۴۰ سوال ۲.۵۰: $\lim_{t\to 6}8(t-5)(t-7)$

۱۷۴۱ سوال ۲.۵۱: $\lim_{s\to \frac{2}{3}}3s(2s-1)$

۱۷۴۲ سوال ۲.۵۲: $\lim_{x\to 2}\frac{x+3}{x+6}$

۱۷۴۳ سوال ۲.۵۳: $\lim_{x\to 5}\frac{4}{x-7}$

۱۷۴۴ سوال ۲.۵۴: $\lim_{y\to -5}\frac{y^2}{5-y}$

۱۷۴۵ سوال ۲.۵۵: $\lim_{y\to 2}\frac{y+2}{y^2+5y+6}$

۱۷۴۶ سوال ۲.۵۶: $\lim_{x\to -1}3(2x-1)^2$

۱۷۴۷ سوال ۲.۵۷: $\lim_{x\to -4}(x+3)^{1984}$

۱۷۴۸ سوال ۲.۵۸: $\lim_{y\to -3}(5-y)^{\frac{4}{3}}$

۱۷۴۹ سوال ۲.۵۹: $\lim_{z\to 0}(2z-8)^{\frac{1}{3}}$

۱۷۵۰ سوال ۲.۶۰: $\lim_{x\to 0}\frac{3}{\sqrt{3h+1}+1}$

۱۷۵۱ سوال ۲.۶۱: $\lim_{h\to 0}\frac{5}{\sqrt{5h+4}+2}$

۱۷۵۲ سوال ۲.۶۲ تا سوال ۲.۷۵ میں حد تلاش کریں۔

۱۷۵۳ سوال ۲.۶۲: $\lim_{x\to 5}\frac{x-5}{x^2-25}$

۱۷۵۴ سوال ۲.۶۳: $\lim_{x\to -3}\frac{x+3}{x^2+4x+3}$

۱۷۵۵ سوال ۲.۶۴: $\lim_{x\to -5}\frac{x^2+3x-10}{x+5}$

۱۷۵۶ سوال ۲.۶۵: $\lim_{x\to 2}\frac{x^2-7x+10}{x-2}$

سوال ۲.۶۶: $\lim\limits_{t\to 1} \frac{t^2+t-2}{t^2-1}$

سوال ۲.۶۷: $\lim\limits_{t\to -1} \frac{t^2+3t+2}{t^2-t-2}$

سوال ۲.۶۸: $\lim\limits_{x\to -2} \frac{-2x-4}{x^3+2x^2}$

سوال ۲.۶۹: $\lim\limits_{y\to 0} \frac{5y^3+8y^2}{3y^4-16y^2}$

سوال ۲.۷۰: $\lim\limits_{u\to 1} \frac{u^4-1}{u^3-1}$

سوال ۲.۷۱: $\lim\limits_{v\to 2} \frac{v^3-8}{v^4-16}$

سوال ۲.۷۲: $\lim\limits_{x\to 9} \frac{\sqrt{x}-3}{x-9}$

سوال ۲.۷۳: $\lim\limits_{x\to 4} \frac{4x-x^2}{2-\sqrt{x}}$

سوال ۲.۷۴: $\lim\limits_{x\to 1} \frac{x-1}{\sqrt{x+3}-2}$

سوال ۲.۷۵: $\lim\limits_{x\to -1} \frac{\sqrt{x^2+8}-3}{x+1}$

قواعد حد کا استعمال

سوال ۲.۷۶: فرض کریں کہ $\lim_{x\to 0} f(x) = 1$ اور $\lim_{x\to 0} g(x) = 5$ ہیں۔ مسئلہ ۲.۱ کے کون سے اجزاء درج ذیل قدم الف، ب اور پ میں استعمال کیے گئے ہیں؟

$$\begin{aligned}
\lim_{x\to 0} \frac{2f(x)-g(x)}{(f(x)+7)^{\frac{2}{3}}} &= \frac{\lim_{x\to 0}(2f(x)-g(x))}{\lim_{x\to 0}(f(x)+7)^{\frac{2}{3}}} && \text{(الف)}\\
&= \frac{\lim_{x\to 0} 2f(x) - \lim_{x\to 0} g(x)}{(\lim_{x\to 0}(f(x)+7))^{\frac{2}{3}}} && \text{(ب)}\\
&= \frac{2\lim_{x\to 0} f(x) - \lim_{x\to 0} g(x)}{(\lim_{x\to 0} f(x) + \lim_{x\to 0} 7)^{\frac{2}{3}}} && \text{(پ)}\\
&= \frac{(2)(1)-(-5)}{(1+7)^{\frac{2}{3}}} = \frac{7}{4}
\end{aligned}$$

سوال ۲.۷۷: فرض کریں کہ $\lim_{x\to 1} h(x) = 5$ ، $\lim_{x\to 1} p(x) = 1$ اور $\lim_{x\to 1} r(x) = 2$ ہیں۔ مسئلہ ۲.۱

۱۷۷۲ کے کون سے اجزاء درج ذیل قدم الف، ب اور پ میں استعمال کیے گئے ہیں؟

$$\begin{aligned}
\lim_{x\to 1}\frac{\sqrt{5h(x)}}{p(x)(4-r(x))} &= \frac{\lim_{x\to 1}\sqrt{5h(x)}}{\lim_{x\to 1}(p(x)(4-r(x)))} && \text{(الف)}\\
&= \frac{\sqrt{\lim_{x\to 1}5h(x)}}{(\lim_{x\to 1}p(x))(\lim_{x\to 1}(4-r(x)))} && \text{(ب)}\\
&= \frac{\sqrt{5\lim_{x\to 1}h(x)}}{(\lim_{x\to 1}p(x))(\lim_{x\to 1}4-\lim_{x\to 1}r(x))} && \text{(پ)}\\
&= \frac{\sqrt{(5)(5)}}{(1)(4-2)} = \frac{5}{2}
\end{aligned}$$

۱۷۷۳ سوال ۲.۷۸: $\lim_{x\to c} f(x) = 5$ اور $\lim_{x\to c} g(x) = -2$ لیتے ہوئے درج ذیل حاصل کریں۔

۱۷۷۴ ا. $\lim_{x\to c} f(x)g(x)$

۱۷۷۵ ب. $\lim_{x\to c} 2f(x)g(x)$

۱۷۷۶ ج. $\lim_{x\to c}(f(x)+3g(x))$

۱۷۷۷ د. $\lim_{x\to c}\frac{f(x)}{f(x)-g(x)}$

۱۷۷۸ سوال ۲.۷۹: $\lim_{x\to 4} f(x) = 0$ اور $\lim_{x\to 4} g(x) = -3$ لیتے ہوئے درج ذیل حاصل کریں۔

۱۷۷۹ ا. $\lim_{x\to 4}(g(x)+3)$

۱۷۸۰ ب. $\lim_{x\to 4} xf(x)$

۱۷۸۱ ج. $\lim_{x\to 4}(g(x))^2$

۱۷۸۲ د. $\lim_{x\to 4}\frac{g(x)}{f(x)-1}$

۱۷۸۳ سوال ۲.۸۰: $\lim_{x\to b} f(x) = 7$ اور $\lim_{x\to b} g(x) = -3$ لیتے ہوئے درج ذیل حاصل کریں۔

۱۷۸۴ ا. $\lim_{x\to b}(f(x)+g(x))$

۱۷۸۵ ب. $\lim_{x\to b} f(x)\cdot g(x)$

۱۷۸۶ ج. $\lim_{x\to b} 4g(x)$

۱۷۸۷ د. $\lim_{x\to b}\frac{f(x)}{g(x)}$

۱۷۸۸ سوال ۲.۸۱: $\lim_{x\to -2} p(x) = 4$ ، $\lim_{x\to -2} r(x) = 0$ اور $\lim_{x\to -2} s(x) = -3$ لیتے ہوئے درج ذیل
۱۷۸۹ حاصل کریں۔

۱۷۹۰ ا. $\lim_{x\to -2}(p(x)+r(x)+s(x))$

۱۷۹۱ ب. $\lim_{x\to -2} p(x)\cdot r(x)\cdot s(x)$

۱۷۹۲ ج. $\lim_{x\to -2}\frac{-4p(x)+5r(x)}{s(x)}$

۱۷۹۳ اوسط تبدیلی شرح کی حد

درج ذیل صورت کی حد کا سیکنٹ خطوط، مماس اور لحاتی شرح کے ساتھ گہرا تعلق ہونے کی وجہ سے یہ احصاء میں عموماً در پیش ہوتی ہے۔

$$\lim_{h\to 0}\frac{f(x+h)-f(x)}{h}$$

سوال ۲.۸۲ تا سوال ۲.۸۷ میں اس حد کو دیے گئے x پر تفاعل $f(x)$ کے لئے تلاش کریں۔

سوال ۲.۸۲: $f(x)=x^2, \quad x=1$

سوال ۲.۸۳: $f(x)=x^2, \quad x=-2$

سوال ۲.۸۴: $f(x)=3x-4, \quad x=2$

سوال ۲.۸۵: $f(x)=\frac{1}{x}, \quad x=-2$

سوال ۲.۸۶: $f(x)=\sqrt{x}, \quad x=7$

سوال ۲.۸۷: $f(x)=\sqrt{3x+1}, \quad x=0$

مسئلہ بیچ کا استعمال

سوال ۲.۸۸: اگر $-1 \le x \le 1$ کے لئے $\sqrt{5-2x} \le f(x) \le \sqrt{5-x^2}$ ہو تب $\lim_{x\to 0} f(x)$ تلاش کریں۔

سوال ۲.۸۹: اگر تمام x کے لئے $2-x^2 \le g(x) \le 2\cos x$ ہو تب $\lim_{x\to 0} g(x)$ تلاش کریں۔

سوال ۲.۹۰: (الف) یہ دکھایا جا سکتا ہے کہ 0 کے قریب تمام x کے لئے درج ذیل عدم مساوات مطمئن ہوتی ہے۔

$$1-\frac{x^2}{6} < \frac{x\sin x}{2-2\cos x} < 1$$

اس سے درج ذیل کے بارے میں کیا معلومات فراہم ہوتی ہیں؟ اپنے جواب کی وجہ پیش کریں۔

$$\lim_{x\to 0}\frac{x\sin x}{2-2\cos x}$$

(ب) $-2 \le x \le 2$ کے لئے $y=1-\frac{x^2}{6}$، $y=\frac{x\sin x}{2-2\cos x}$ اور $y=1$ ترسیم کریں۔ $x\to 0$ کرتے ہوئے ان ترسیم کے رویہ پر تبصرہ کریں۔

سوال ۲.۹۱: (الف) درج ذیل عدم مساوات 0 کے قریب تمام x کے لئے مطمئن ہوتی ہے (سوال ۹.۵۳۹)۔

$$\frac{1}{2} - \frac{x^2}{24} < \frac{1-\cos x}{x^2} < \frac{1}{2}$$

اس سے درج ذیل کے بارے میں کیا معلومات فراہم ہوتی ہیں۔ اپنے جواب کی وجہ پیش کریں۔

$$\lim_{x\to 0} \frac{1-\cos x}{x^2}$$

(ب) $-2 \le x \le 2$ کے لئے $y = \frac{1}{2} - \frac{x^2}{24}$ ، $y = \frac{1-\cos x}{x^2}$ اور $y = \frac{1}{2}$ ترسیم کریں۔ ان ترسیم کا رویہ $x \to 0$ کرتے ہوئے کیسا ہے؟

نظریہ اور مثالیں

سوال ۲.۹۲: اگر $[-1,1]$ میں x کے لئے $x^4 \le f(x) \le x^2$ اور $x < -1$ اور $x > 1$ کے لئے $x^2 \le f(x) \le x^4$ ہو تب کن نقطوں c پر آپ کو $\lim_{x\to c} f(x)$ خود بخود معلوم ہو گی؟ ان نقطوں پر حد کیا ہو گی؟

سوال ۲.۹۳: فرض کریں کہ تمام $x \neq 2$ کے لئے $g(x) \le f(x) \le h(x)$ ہے اور مزید فرض کریں کہ $\lim_{x\to 2} g(x) = \lim_{x\to 2} h(x) = -5$ ہے۔ کیا 2 پر f ، g اور h کی قیمتوں کے بارے میں کچھ کہا جا سکتا ہے؟ کیا $f(2) = 0$ ہو سکتا ہے؟ کیا $\lim_{x\to 2} f(2) = 0$ ہو سکتی ہے؟ اپنے جوابات کی وجوہات پیش کریں۔

سوال ۲.۹۴: اگر $\lim_{x\to 4} \frac{f(x)-5}{x-2} = 1$ ہو تب $\lim_{x\to 4} f(x)$ کیا ہو گی؟

سوال ۲.۹۵: اگر $\lim_{x\to -2} \frac{f(x)}{x^2} = 1$ ہو تب (الف) $\lim_{x\to -2} f(x)$ (ب) $\lim_{x\to -2} \frac{f(x)}{x}$ تلاش کریں۔

سوال ۲.۹۶: (الف) اگر $\lim_{x\to 2} \frac{f(x)-5}{x-2} = 3$ ہو تب $\lim_{x\to 2} f(x)$ کیا ہو گی؟

(ب) اگر $\lim_{x\to 2} \frac{f(x)-5}{x-2} = 4$ ہو تب $\lim_{x\to 2} f(x)$ کیا ہو گی؟

سوال ۲.۹۷: اگر $\lim_{x\to 0} \frac{f(x)}{x^2} = 1$ ہو تب (الف) $\lim_{x\to 0} f(x)$ اور (ب) $\lim_{x\to 0} \frac{f(x)}{x}$ کیا ہوں گی؟

کمپیوٹر

سوال ۲.۹۸: (الف) $\lim_{x\to 0} g(x)$ حاصل کرنے کی خاطر $g(x) = x \sin \frac{1}{x}$ ترسیم کریں۔ x کے قریب ترسیم کو بڑا کرتے ہوئے نتیجہ حاصل کریں۔

(ب) جزو (الف) کے جواب کو الجبرائی طریقہ سے حاصل کریں۔

سوال ۲.۹۹: (الف) $h(x) = x^2 \cos \frac{1}{x^3}$ ترسیم کرتے ہوئے x کے قریب ترسیم کو بڑا کرتے ہوئے $\lim_{x\to 0} h(x)$ تلاش کریں۔

(ب) جزو (الف) کے نتیجہ کو الجبرا سے حاصل کریں۔

۲.۳ مطلوبہ قیمتیں اور حد کی باضابطہ تعریف

اس حصہ میں ہم حد کی باضابطہ تعریف پیش کرتے ہیں۔ یہ تعریف کسی بھی مثال کے لئے قابل استعمال ہو گی۔ اس سے پہلے ہم تفاعل کی خارجی قیمت کو مقررہ حدود کے اندر رکھنے کی خاطر اس کی داخلی قیمتوں پر غور کرتے ہیں۔

خارجی قیمتوں کو مطلوبہ قیمتوں کے قریب رکھنا

ہم بعض اوقات جاننا چاہتے ہیں کہ x کی کون سی قیمتیں تفاعل $y = f(x)$ کی قیمتوں کو کسی مخصوص مطلوبہ قیمت کے قریب رکھے گی۔ کتنا قریب کا دارومدار درپیش مسئلہ پر ہو گا۔ مثلاً پٹرول پمپ پر ہم آخری قطرہ حاصل کرنا چاہیں گے۔ مرمت کے دوران مستری انجن کے سلنڈر کا قطر $50\ \mu m$ درستگی کے اندر رکھنا چاہے گا اور دوا ساز اجزاء کو قریبی ملی گرام تک ناپے گا۔

مثال ۲.۱۷: خطی تفاعل قابو کرنا

تفاعل $y = 2x - 1$ کی خارجی قیمت کو $y_0 = 7$ کے 2 اکائی قریب رکھنے کی خاطر x کو $x_0 = 4$ کے کتنا قریب رکھنا ضروری ہے؟

حل: ہم سے پوچھا گیا ہے کہ x کی کن قیمتوں کے لئے $|y - 7| < 2$ ہے۔ جواب حاصل کرنے سے پہلے ہم $|y - 7|$ کو x کی صورت میں لکھتے ہیں۔

$$|y - 7| = |(2x - 1) - 7| = |2x - 8|$$

یوں ہم x کی وہ قیمتیں جاننا چاہتے ہیں جو عدم مساوات $|2x - 8| < 2$ کو مطمئن کرتی ہیں۔ اس عدم مساوات کو حل کرتے ہیں۔

$$\begin{aligned} |2x - 8| &< 2 \\ -2 < 2x - 8 &< 2 \\ 6 < 2x &< 10 \\ 3 < x &< 5 \\ -1 < x - 4 &< 1 \end{aligned}$$

x کو $x_0 = 4$ کے 1 اکائی کے اندر رکھتے ہوئے y کی قیمت $y_0 = 7$ کے 2 اکائیوں کے اندر رہے گی (شکل ۲.۱۵)۔ □

فنیات

مطلوبہ قیمتیں: کمپیوٹر پر ترسیم کھینچ کر مطلوبہ قیمتوں پر تجربے کیے جا سکتے ہیں۔ درکار تفاعل کی ترسیم پر بالائی اور نچلی مطلوبہ سطحوں کو افقی لکیروں سے ظاہر کریں۔ ترسیم کو اتنا بڑا کریں کہ مطلوبہ وقفہ صاف نظر آئے۔ یوں مطلوبہ وقفے میں تفاعل کا رویہ دیکھا جا سکتا ہے۔ (سوال ۲.۱۰۶ تا سوال ۲.۱۱۳ اور سوال ۲.۱۶۰ تا سوال ۲.۱۶۳)

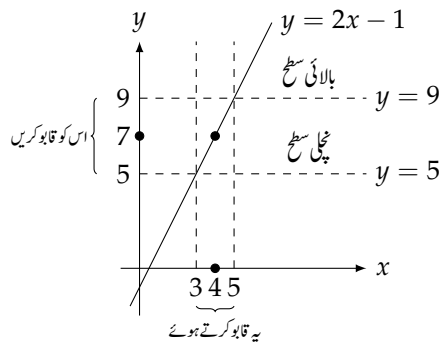

شکل ۲.۱۵: x کی قیمت قابو کرتے ہوئے y کی قیمت قابو کی جاتی ہے (مثال ۲.۱۷)

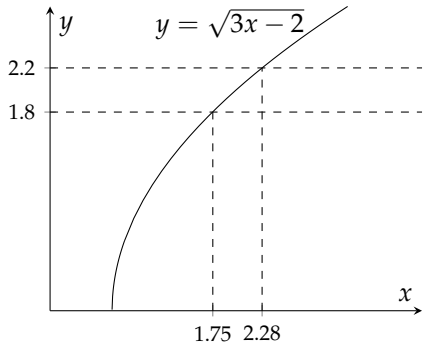

شکل ۲.۱۶: y کو 1.8 اور 2.2 کے اندر رکھنے کی خاطر x کو 1.75 اور 2.28 کے اندر رکھنا ہوگا۔

مثال کے طور پر $f(x) = \sqrt{3x-2}$ کی ترسیم پر y محور کے مطلوبہ وقفہ $(1.8, 2.2)$ پر غور کریں۔ یوں $y_1 = f(x)$ ، $y_2 = 1.8$ اور $y_3 = 2.2$ ترسیم کریں (شکل ۲.۱۶)۔ اسی طرح مطلوبہ وقفہ $(1.98, 2.02)$ اور $(1.9998, 2.0002)$ پر بھی تفاعل کا رویہ دیکھیں۔

مثال ۲.۱۸: $6\,\text{cm}$ اندرونی قطر کے ایک لٹر پیمائشی پیالے پر $1\,\text{mm}$ وقفہ پر افقی لکیریں کیوں کھینچی گئی ہوتی ہیں۔
پیالے میں مائع کا حجم $H = \pi r^2 h = 36\pi h$ ہوگا جہاں پیالے کا اندرونی رداس r اور مائع کی گہرائی h ہے۔ ایک لٹر $(1000\,\text{cm}^3)$ پانی ناپنے کی خاطر h کتنا ہوگا؟ ناپ میں خلل $1\,\%$ سے کم ہونا چاہیے۔
حل: ہم h کا ایسا وقفہ تلاش کرنا چاہتے ہیں جو درج ذیل مطمئن کرتا ہو۔

$$|H - 1000| = |36\pi h - 1000| \leq 10$$

ہمیں درج ذیل عدم مساوات حل کرنی ہوگی۔

$$\begin{aligned}
|36\pi h - 1000| &\leq 10 \\
-10 \leq 36\pi h - 1000 &\leq 10 \\
990 \leq 36\pi h &\leq 1010 \\
\tfrac{990}{36\pi} \leq h &\leq \tfrac{1010}{36\pi} \\
8.8 \leq h &\leq 8.9
\end{aligned}$$

یوں $1\,\%$ درستگی کی خاطر درکار وقفہ گہرائی $8.9 - 8.8 = 0.1\,\text{cm}$ یعنی $1\,\text{mm}$ ہے۔ پیالے پر ایک ملی میٹر فاصلے پر افقی لکیریں ہمیں ایک فی صد درستگی تک مائع ناپنے میں مدد دیتی ہیں جو کھانا تیار کرنے کے لئے کافی (درستگی) ہے۔ □



شکل ۲.۱۷: حد کی تعریف میں ایک قدم

حد کی باضابطہ تعریف

مطلوبہ قیمت مسئلے میں ہم جاننا چاہتے ہیں کہ متغیر x کو کسی مخصوص قیمت x_0 کے کتنے قریب رکھتے ہوئے تفاعل $f(x)$ کی قیمت کو مطلوبہ قیمت y_0 کے قریب مخصوص وقفہ میں رکھنا ممکن ہوگا۔ یہ دکھانے کی خاطر کہ $x \to x_0$ کرنے سے $f(x)$ کی حد L حاصل ہوتی ہے، ہمیں دکھانا ہوگا کہ ہم x کو x_0 کے بہت قریب کرتے ہوئے $f(x)$ اور L میں فرق کو کسی بھی معینہ خلل سے کم کر سکتے ہیں۔

فرض کریں ہم $f(x)$ کی قیمت کو دیکھتے ہوئے x کو x_0 کے قریب لاتے ہیں (تاہم ہم x کی قیمت کو کبھی بھی x_0 کے برابر نہیں کرتے)۔ ہم چاہیں گے کہ ہم کہہ سکیں کہ x_0 سے x کا فاصلہ δ سے کم رکھنے سے $f(x)$ اور L کی قیمت میں فرق L کی اکائی کے دسویں حصے سے کم ہوگی (شکل ۲.۱۷)۔ البتہ اتنا جاننا کافی نہیں چونکہ x کو x_0 کے مزید قریب کرنے سے کیا معلوم کہ وقفہ $L-\frac{1}{10}$ تا $L+\frac{1}{10}$ کے بیچ $f(x)$ کی قیمت L کے مزید قریب ہونے کے بجائے تھرتھراتی (کم اور زیادہ ہوتی) ہو۔

ہم سے کہا جا سکتا ہے کہ خلل میں چھوٹ $\frac{L}{100}$ یا $\frac{L}{1000}$ یا $\frac{L}{100,000}$ ہے۔ ہر مرتبہ ہم x_0 کے ارد گرد (آپس پاس) ایسا نیا وقفہ δ تلاش کرتے ہیں جس کے اندر x کو رکھتے ہوئے قابل برداشت چھوٹ کے اندر رہا جا سکتا ہو۔ البتہ ہر مرتبہ اس امکان کو رد نہیں کیا جا سکتا ہے کہ x_0 کے مزید قریب جانے سے $f(x)$ کی قیمت تھرتھراہٹ کا شکار ہوتے ہوئے L تک نہ پہنچتی ہو۔

شکل ۲.۱۸ میں اس مسئلے کی وضاحت کی گئی ہے جسے آپ ایک شکی انسان اور ایک عالم کے مابین بحث تصور کر سکتے ہیں۔ شکی انسان قابل قبول چھوٹ ϵ چاہتا ہے جس کے مقابلے میں عالم درکار δ پیش کرتا ہے۔

اس نہ ختم ہونے والی بحث کو ہم یوں ختم کر سکتے ہیں کہ ہم ثابت کریں کہ ہر σ کے لئے ایسا δ تلاش کرنا ممکن ہے جو $f(x)$ کو L کے قریب قابل قبول فاصلہ ϵ کے اندر رکھتا ہو (شکل ۲.۱۹)۔

یوں آخر کار ہم ریاضی کی زبان میں یہ کہہ سکتے ہیں کہ x کو x_0 کے جتنا زیادہ قریب کیا جائے، $f(x)$ کی قیمت L کے اتنی زیادہ قریب ہوگی۔

تعریف: **حد کی باضابطہ تعریف**

فرض کریں کہ x_0 کے ارد گرد ایک کھلے وقفہ میں $f(x)$ معین ہے جبکہ نقطہ x_0 پر عین ممکن ہے کہ $f(x)$ معین نہ ہو۔ اگر ہر عدد $\epsilon > 0$ کے

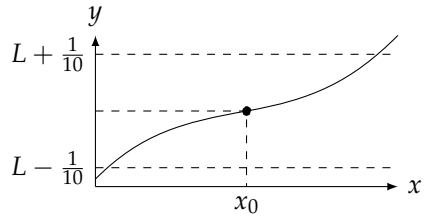

(ا) پہلا مقابلہ: $|f(x)-L| < \epsilon = \frac{1}{10}$ کریں

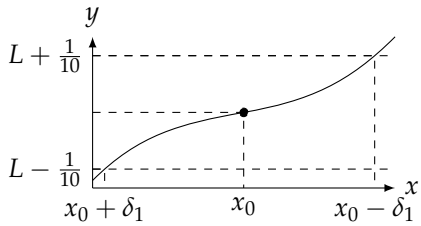

(ب) پہلے جواب: $|x-x_0| < \delta_1$ رکھیں

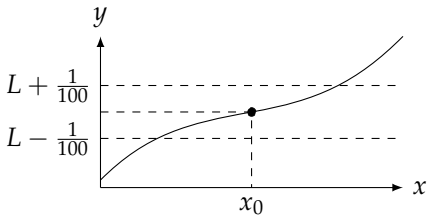

(ج) دوسرا مقابلہ: $|f(x)-L| < \epsilon = \frac{1}{100}$ کریں

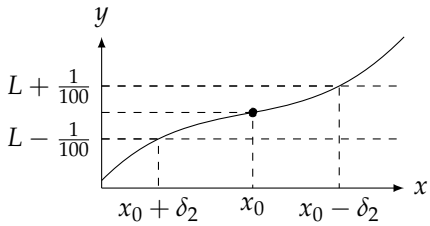

(د) دوسرا جواب: $|x-x_0| < \delta_2$ رکھیں

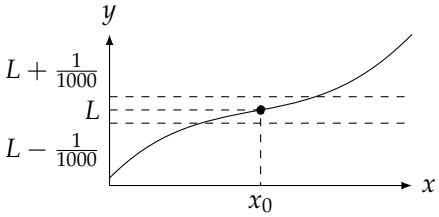

(ھ) تیسرا مقابلہ: $|f(x)-L| < \epsilon = \frac{1}{1000}$ کریں

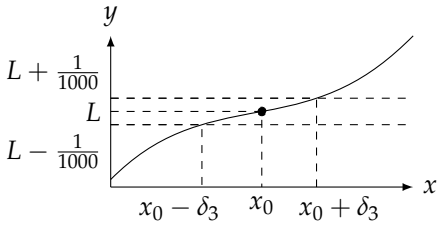

(و) تیسرا جواب: $|x-x_0| < \delta_3$ رکھیں

شکل ۲.۱۸: شکی شخص اور عالم کا مقابلہ

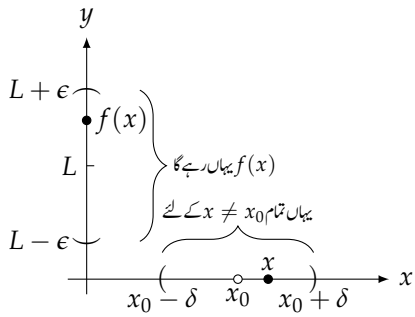

شکل ۲.۱۹: حد کی تعریف میں δ اور ϵ کا تعلق۔

۱۸۸۹ لئے ایسا مطابقتی عدد $\delta > 0$ پایا جاتا ہو کہ تمام x کے لئے درج ذیل مطمئن ہوں

$$0 < |x - x_0| < \delta, \quad |f(x) - L| < \epsilon$$

۱۸۹۰ تب ہم کہتے ہیں کہ جیسے جیسے x کی قیمت x_0 کے نزدیک تر ہوتی ہے ویسے ویسے $f(x)$ کی قیمت حد L تک پہنچتی ہے، جس کو الجبرائی طور پر درج ذیل
۱۸۹۱ لکھا جاتا ہے۔

$$\lim_{x \to x_0} f(x) = L$$

۱۸۹۲ □

۱۸۹۳ مطلوبہ قیمت کے تصور پر دوبارہ بات کرتے ہیں۔ فرض کریں کہ آپ خراد کی مشین پر قطر L کا دھرا تیار کرنا چاہتے ہیں۔ اب کوئی بھی مشین مکمل درست نتائج
۱۸۹۴ نہیں دیتی لہٰذا آپ کو $f(x)$ قطر یعنی $L - \epsilon$ اور $L + \epsilon$ کے بیچ قطر کا دھرا قبول کرنا ہو گا۔ دھرے کا اتنا درست قطر حاصل کرنے کے لئے x کو
۱۸۹۵ قابو میں رکھنا ضروری ہو گا لہٰذا x کو $x - \delta$ اور $x + \delta$ کے بیچ رکھنا ہو گا۔ آپ دیکھ سکتے ہیں کہ جیسے جیسے قطر کی درستگی میں چھوٹ ϵ کم کی جائے،
۱۸۹۶ آپ کو ویسے ویسے δ کو زیادہ درست کرنا ہو گا۔

۱۸۹۷ تعریف پرکھنے کی مثالیں

۱۸۹۸ حد کی باضابطہ تعریف ہمیں حد تلاش کرنے میں مدد نہیں دیتی البتہ اس سے حد کی درستگی کی تصدیق کی جا سکتی ہے۔ درج ذیل مثالوں میں ہم حد کی تعریف کو
۱۸۹۹ استعمال کرتے ہوئے چند مخصوص تفاعل کی حد کی تصدیق کرتے ہیں۔ حد کی تعریف کا اصل مقصد اس طرح کا حساب کرنا نہیں ہے بلکہ اس تعریف کو استعمال
۱۹۰۰ کرتے ہوئے عمومی مسئلے بیان کرنا مقصد ہے جو ہمیں تفاعل کی حد حاصل کرنے میں مدد دیتے ہیں۔

۱۹۰۱ مثال ۲.۱۹: دکھائیں کہ $\lim_{x \to 1}(5x - 3) = 2$ ہے۔

۱۹۰۲ حل: حد کی تعریف میں $x_0 = 1$ ، $f(x) = 5x - 3$ اور $L = 2$ لیں۔ کسی بھی دیے گئے $\epsilon > 0$ کے لئے ہمیں موزوں
۱۹۰۳ $\delta > 0$ تلاش کرنا ہو گا تاکہ اگر $x \neq 1$ ہو اور $x_0 = 1$ سے x کا فاصلہ δ سے کم ہو یعنی اگر

$$0 < |x - a| < \delta$$

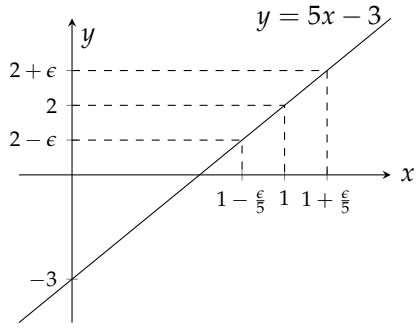

شکل ۲.۲۰: تفاعل $f(x) = 5x - 3$ کے لئے $0 < |x-1| < \frac{\epsilon}{5}$ کی صورت میں $|f(x) - 2| < \epsilon$ ہوگا (مثال ۲.۱۹)۔

۱۹۰۴ ہوتب $L = 2$ سے $f(x)$ کا فاصلہ ϵ سے کم ہوگا یعنی:

$$|f(x) - 2| < \epsilon$$

۱۹۰۵ ہم ϵ کی عدم مساوات سے واپس چلتے ہوئے δ تلاش کرتے ہیں۔

$$\begin{aligned} |(5x-3)-2| &= |5x-5| < \epsilon \\ 5|x-1| &< \epsilon \\ |x-1| &< \frac{\epsilon}{5} \end{aligned}$$

۱۹۰۶ یوں ہم $\delta = \frac{\epsilon}{5}$ لے سکتے ہیں (شکل ۲.۲۰)۔ اب اگر $0 < |x-1| < \delta = \frac{\epsilon}{5}$ ہوتب درج ذیل ہوگا۔

$$|(5x-3)-2| = |5x-5| = 5|x-1| < 5(\tfrac{\epsilon}{5}) = \epsilon$$

۱۹۰۷ اس سے ثابت ہوا کہ $\lim_{x\to 1}(5x-3) = 2$ ہے۔

۱۹۰۸ $\delta = \frac{\epsilon}{5}$ وہ واحد قیمت نہیں جس کے لئے $0 < |x-1| < \delta$ سے مراد $|5x-5| < \epsilon$ لی جاسکتی ہے۔ δ کی اس قیمت سے کوئی بھی
۱۹۰۹ چھوٹی مثبت قیمت کے لئے بھی $0 < |x-1| < \delta$ سے مراد $|5x-5| < \epsilon$ لی جاسکتی ہے۔ حد کی تعریف بہترین δ کی بات نہیں کرتی
۱۹۱۰ بلکہ δ کی کسی بھی قیمت جو ان شرائط کو مطمئن کرتی ہو کی بات کرتی ہے۔ □

۱۹۱۱ مثال ۲.۲۰: دو اہم حد

۱۹۱۲ تصدیق کریں: (ا) $\lim_{x\to x_0} x = x_0$ (ب) $\lim_{x\to x_0} k = k$ جہاں k مستقل ہے۔

۱۹۱۳ حل: (ا) فرض کریں کہ $\epsilon > 0$ دیا گیا ہے۔ ہمیں ایسا $\delta > 0$ تلاش کرنا ہے کہ تمام x کے لئے

$$0 < |x - x_0| < \delta \quad \text{سے مراد} \quad |x - x_0| < \epsilon \quad \text{ہو۔}$$

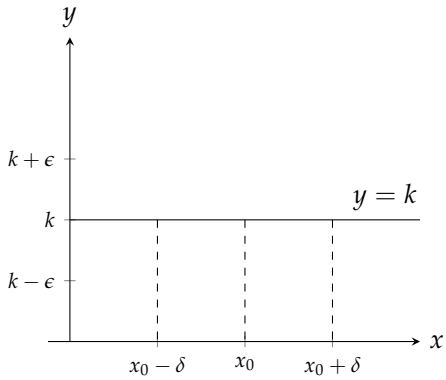

(ب) تفاعل $f(x) = k$ کے لئے کسی بھی مثبت δ کی صورت میں $|f(x)-k| < \epsilon$ ہوگا۔

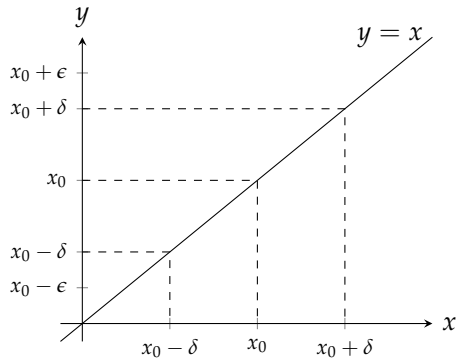

(ا) $0 < |x-x_0| < \delta$ کی صورت میں $f(x) = x$ کے لئے جب بھی $\delta \le \epsilon$ ہو تب $|f(x)-x_0| < \epsilon$ ہوگا۔

شکل ۲.۲۱: اشکال برائے مثال ۲.۲۰

۱۹۱۴ آپ دیکھ سکتے ہیں کہ δ کی قیمت ϵ کے برابر یا اس سے کم مثبت عدد ممکن ہے (شکل ۲.۲۱-ا)۔ یوں ثابت ہوا کہ $\lim_{x\to x_0} = x_0$ ہے۔

۱۹۱۵ (ب) فرض کریں کہ $\epsilon > 0$ دیا گیا ہے۔ ہمیں ایسا δ تلاش کرنا ہے کہ ہر x کے لئے

$$0 < |x-x_0| < \delta \quad \text{سے مراد} \quad |k-k| < \epsilon \quad \text{ہو۔}$$

۱۹۱۶ چونکہ $k-k=0$ ہے لہٰذا کسی بھی مثبت عدد کو δ لیا جا سکتا ہے (شکل ۲.۲۱-ب)۔ یوں ثابت ہوا کہ $\lim_{x\to x_0} k = k$ ہے۔ □

۱۹۱۷ دیے گئے ϵ کے لئے δ کا الجبرائی حصول

۱۹۱۸ مثال ۲.۱۹ اور مثال ۲.۲۰ میں x_0 کے ارد گرد وہ وقفہ جس پر $|f(x)-L|$ کی قیمت ϵ سے کم تھی x_0 کے لحاظ سے تشاکلی تھا۔ یوں ہم δ کو وقفے
۱۹۱۹ کا نصف لے سکتے تھے۔ جب ایسا تشاکل نہ پایا جاتا ہو، جو عموماً اوقات نہیں پایا جاتا، ہم x_0 سے وقفے کے قریبی سرے تک فاصلے کو δ لے سکتے ہیں۔

۱۹۲۰ مثال ۲.۲۱: حد $\lim_{x\to 5}\sqrt{x-1} = 2$ کے لئے $\epsilon = 1$ کے لحاظ سے $\delta > 0$ تلاش کریں۔ یعنی ایسا $\delta > 0$ تلاش کریں کہ
۱۹۲۱ $0 < |x-5| < \delta$ میں تمام x کے لئے درج ذیل مطمئن ہوتا ہو۔ (علامت $\implies$ کو پڑھیں "سے مراد"۔)

$$0 < |x-5| < \delta \quad \overset{\text{سے مراد}}{\implies} \quad \left|\sqrt{x-1}-2\right| < 1$$

۱۹۲۲ حل: اس کو دو قدموں میں حل کرتے ہیں۔ پہلے قدم میں عدم مساوات $\left|\sqrt{x-1}-2\right| < 1$ کو حل کرتے ہوئے $x_0 = 5$ کے ارد گرد
۱۹۲۳ ایسا وقفہ (a,b) تلاش کرتے ہیں جس پر تمام $x \neq x_0$ کے لئے عدم مساوات مطمئن ہوتی ہو۔ اس کے بعد ایسا عدد $\delta > 0$ حاصل کیا جائے گا کہ
۱۹۲۴ وقفہ $5-\delta < x < 5+\delta$ کا وسط نقطہ x_0 ہو اور یہ وقفہ (a,b) کے اندر پایا جاتا ہو۔

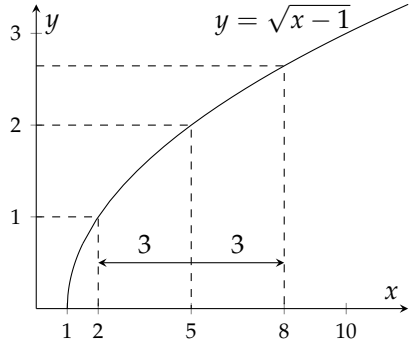

(ب) تفاعل اور وقفہ

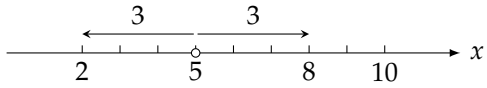

(ا) $x_0 = 5$ کے ارد گرد رداس 3 کا کھلا وقفہ $(2, 10)$ کے اندر پایا جائے گا۔

شکل ۲.۲۲: اشکال برائے مثال ۲.۲۱

۱۹۲۵ **پہلا قدم:** عدم مساوات $\left|\sqrt{x-1} - 2\right| < 1$ کو حل کرتے ہوئے $x_0 = 5$ کے ارد گرد ایسا وقفہ تلاش کرتے ہیں جس پر تمام $x \neq$
۱۹۲۶ x_0 کے لئے عدم مساوات مطمئن ہوتی ہو۔

$$\begin{aligned}
\left|\sqrt{x-1} - 2\right| &< 1 \\
-1 < \sqrt{x-1} - 2 &< 1 \\
1 < \sqrt{x-1} &< 3 \\
1 < x - 1 &< 9 \\
2 < x &< 10
\end{aligned}$$

۱۹۲۷ عدم مساوات کھلے وقفہ $(2, 10)$ پر تمام نقطوں کے لئے مطمئن ہوتی ہے لہٰذا یہ اس وقفے پر تمام $x \neq 5$ کے لئے بھی مطمئن ہو گی۔
۱۹۲۸ **دوسرا قدم:** ایسا $\delta > 0$ تلاش کریں جو وسط کردہ وقفہ $5 - \delta < x < 5 + \delta$ کو وقفہ $(2, 10)$ میں رکھتا ہو۔ 5 سے وقفہ
۱۹۲۹ $(2, 10)$ کے قریبی سرا کا فاصلہ 3 ہے۔ اس طرح $\delta = 3$ یا اس سے کم کوئی بھی مثبت عدد لینے سے $0 < |x-5| < \delta$ کو مطمئن کرنے
۱۹۳۰ والے تمام x وقفہ $(2, 10)$ میں پائے جائیں گے جس سے $\left|\sqrt{x-1} - 2\right| < 1$ خود بخود مطمئن ہو گا۔

$$0 < |x-5| < 3 \quad \Longrightarrow \quad \left|\sqrt{x-1} - 2\right| < 1$$

۱۹۳۱ □

دیے گئے f ، L ، x_0 اور $\epsilon > 0$ کے لئے δ کا الجبرائی حصول

ایسا $\delta > 0$ کہ $0 < |x - x_0| < \delta$ میں تمام x کے لئے درج ذیل ہو

$$0 < |x - x_0| < \delta \quad \Longrightarrow \quad |f(x) - L| < \epsilon$$

کو دو قدموں میں حاصل کیا جا سکتا ہے۔

پہلا قدم: عدم مساوات $|f(x) - L| < \epsilon$ کو حل کرتے ہوئے x_0 کے ارد گرد ایسا کھلا وقفہ (a, b) حاصل کریں جس میں تمام $x \neq x_0$ کے لئے یہ عدم مساوات مطمئن ہوتی ہو۔

دوسرا قدم: ایسا $\delta > 0$ تلاش کریں جو کھلے وقفہ $(x_0 - \delta, x_0 + \delta)$ ، جس کا وسط x_0 ہے، کو (a, b) کے اندر رکھے۔ اس δ وقفے میں تمام $x \neq x_0$ کے لئے عدم مساوات $|f(x) - L| < \epsilon$ مطمئن ہو گی۔

مثال ۲.۲۲: ثابت کریں کہ درج ذیل تفاعل کے لئے $\lim_{x \to 2} f(x) = 4$ ہے۔

$$f(x) = \begin{cases} x^2, & x \neq 2 \\ 1, & x = 2 \end{cases}$$

حل: ہم نے ثابت کرنا ہے کہ دیے گئے $\epsilon > 0$ کے لئے ایسا $\delta > 0$ موجود ہے کہ $0 < |x - 2| < \delta$ میں تمام x کے لئے درج ذیل مطمئن ہوتا ہو۔

$$0 < |x - 2| < \delta \quad \Longrightarrow \quad |f(x) - 4| < \epsilon$$

پہلا قدم: عدم مساوات $|f(x) - 4| < \epsilon$ کو حل کرتے ہوئے $x_0 = 2$ کے ارد گرد ایسا کھلا وقفہ تلاش کرتے ہیں جس میں تمام $x \neq x_0$ کے لئے عدم مساوات مطمئن ہوتی ہو۔ اب $x \neq x_0 = 2$ کے لئے $f(x) = x^2$ ہے لہٰذا عدم مساوات کی صورت $\left|x^2 - 4\right| < \epsilon$ ہو گی۔

$$\begin{aligned} \left|x^2 - 4\right| &< \epsilon \\ -\epsilon < x^2 - 4 &< \epsilon \\ 4 - \epsilon < x^2 &< 4 + \epsilon \\ \sqrt{4 - \epsilon} < |x| &< \sqrt{4 + \epsilon} \qquad \text{فرض کریں کہ } \epsilon < 4 \text{ ہے} \\ \sqrt{4 - \epsilon} < x &< \sqrt{4 + \epsilon} \end{aligned}$$

کھلے وقفہ $(\sqrt{4 - \epsilon}, \sqrt{4 + \epsilon})$ میں تمام $x \neq 2$ کے لئے عدم مساوات $|f(x) - 4| < \epsilon$ مطمئن ہوتی ہے۔

دوسرا قدم: ایسا $\delta > 0$ تلاش کرتے ہیں جو وسط کردہ وقفہ $(2 - \delta, 2 + \delta)$ کو $(\sqrt{4 - \epsilon}, \sqrt{4 + \epsilon})$ کے اندر رکھتا ہو۔ نقطہ $x_0 = 2$ سے کھلے وقفہ $(\sqrt{4 - \epsilon}, \sqrt{4 + \epsilon})$ کے قریبی سر کا فاصلہ δ ہو گا۔ یوں $2 - \sqrt{4 - \epsilon}$ اور $\sqrt{4 + \epsilon} - 2$ میں سے

۱۹۴۸ کم قیمت δ کے برابر ہو گی۔ δ کی اس قیمت یا اس سے کم مثبت قیمت کے لئے درج ذیل خود بخود مطمئن ہو گا۔

$$0 < |x-2| < \delta \quad \Longrightarrow \quad \big|f(x)-4\big| < \epsilon$$

۱۹۴۹ $\square$

۱۹۵۰ درج بالا مثال میں ہم نے $0 < |x-2| < \delta$ سے مراد $\epsilon < 4$ کیوں فرض کیا؟ اس لئے کہ تمام x کے لئے ایسا δ کہ

۱۹۵۱ $\big|f(x)-4\big| < \epsilon < 4$ ہو میں ہم نے δ کی وہ قیمت دریافت کی جو ϵ کے کسی بھی بڑی قیمت کے لئے بھی کارآمد ہے۔

۱۹۵۲ مسئلوں کا ثبوت بذریعہ تعریف

۱۹۵۳ ہم عام طور پر حد کی باضابطہ تعریف استعمال کرتے ہوئے مخصوص حد تلاش نہیں کرتے۔ اس کے برعکس ہم تعریف سے عمومی مسئلوں (بالخصوص حصہ ۲.۲

۱۹۵۴ کے مسئلوں) کو ثابت کرتے ہیں جنہیں استعمال کرتے ہوئے حد حاصل کی جاتی ہے۔ آئیں قاعدہ مجموعہ ثابت کریں۔

۱۹۵۵ مثال ۲.۲۳: قاعدہ مجموعہ

۱۹۵۶ اگر $\lim_{x\to c} f(x) = L$ اور $\lim_{z\to c} g(x) + M$ ہوں تب درج ذیل ثابت کریں۔

$$\lim_{x\to c}(f(x)+g(x)) = L+M$$

۱۹۵۷ حل: فرض کریں $\epsilon > 0$ دیا گیا ہے۔ ہم ایسا مثبت عدد δ تلاش کرنا چاہتے ہیں کہ $0 < |x-c| < \delta$ میں تمام x کے لئے درج ذیل ہو۔

$$0 < |x-c| < \delta \quad \Longrightarrow \quad \big|f(x)+g(x)-(L+M)\big| < \epsilon$$

۱۹۵۸ ہم ذیل لکھ سکتے ہیں۔

$$\begin{aligned}\big|f(x)+g(x)-(L+M)\big| &= \big|(f(x)-L)+(g(x)-M)\big| \\ &\le \big|f(x)-L\big| + \big|g(x)-M\big| \qquad \text{تکونی عدم مساوات}\end{aligned}$$

۱۹۵۹ چونکہ $\lim_{x\to c} f(x) = L$ موجود ہے لہٰذا ایسا عدد $\delta_1 > 0$ پایا جاتا ہے کہ تمام x کے لئے درج ذیل ہو۔

$$0 < |x-c| < \sigma_1 \quad \Longrightarrow \quad \big|f(x)-L\big| < \tfrac{\epsilon}{2}$$

۱۹۶۰ اسی طرح چونکہ $\lim_{x\to c} g(x) = M$ موجود ہے لہٰذا ایسا عدد $\delta_2 > 0$ پایا جاتا ہے کہ تمام x کے لئے درج ذیل ہو۔

$$0 < |x-c| < \sigma_2 \quad \Longrightarrow \quad \big|g(x)-M\big| < \tfrac{\epsilon}{2}$$

۱۹۶۱ فرض کریں کہ δ_1 اور δ_2 میں سے چھوٹی قیمت δ کے برابر ہے۔ اب اگر $0 < |x-c| < \delta$ ہو تب

$$0 < |x-c| < \delta_1 \quad \text{اور} \quad \big|f(x)-L\big| < \tfrac{\epsilon}{2}$$

۱۹۶۲ ہوں گے، اور $|x-c| < \delta_2$ اور $\big|g(x)-M\big| < \frac{\epsilon}{2}$ ہوں گے۔ اس طرح

$$\big|f(x)+g(x)-(L+M)\big| < \frac{\epsilon}{2} + \frac{\epsilon}{2} = \epsilon$$

۱۹۶۳ ہو گا۔ اس سے ثابت ہوا کہ $\lim_{x\to c}(f(x)+g(x)) = L+M$ ہے۔ $\square$

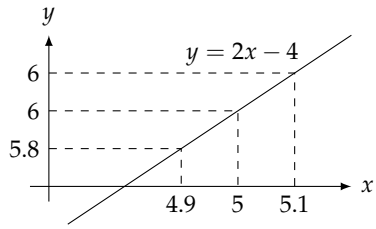

شکل ۲.۲۳: ترسیم برائے سوال ۲.۱۰۶

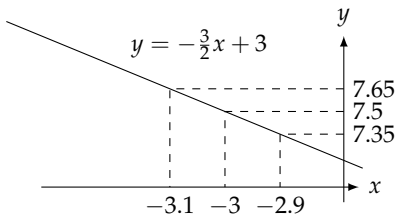

شکل ۲.۲۴: ترسیم برائے سوال ۲.۱۰۷

سوالات

۲.۳ نقطہ x_0 پر وقفے کا وسط رکھنا

سوال ۲.۱۰۰ تا سوال ۲.۱۰۵ میں x محور پر وقفہ (a, b) ترسیم کریں جس میں نقطہ x_0 پایا جاتا ہے۔ اس کے بعد ایسا $\delta > 0$ تلاش کریں کہ $|x - x_0| < \delta$ سے مراد $a < x < b$ ہو۔

سوال ۲.۱۰۰: $a = 1, b = 7, x_0 = 5$

سوال ۲.۱۰۱: $a = 1, b = 7, x_0 = 2$

سوال ۲.۱۰۲: $a = -\frac{7}{2}, b = -\frac{1}{2}, x_0 = -3$

سوال ۲.۱۰۳: $a = -\frac{7}{2}, b = -\frac{1}{2}, x_0 = -\frac{3}{2}$

سوال ۲.۱۰۴: $a = \frac{4}{9}, b = \frac{4}{7}, x_0 = \frac{1}{2}$

سوال ۲.۱۰۵: $a = 2.7591, b = 3.2391, x_0 = 3$

δ کا حصول بذریعہ ترسیم

سوال ۲.۱۰۶ تا سوال ۲.۱۱۳ میں ترسیم سے ایسا $\delta > 0$ تلاش کریں کہ تمام x کے لئے درج ذیل ہو۔

$$0 < |x - x_0| < \delta \quad \Longrightarrow \quad 0 < \left|f(x) - L\right| < \epsilon$$

سوال ۲.۱۰۶: $f(x) = 2x - 4, x_0 = 5, L = 6, \epsilon = 0.2$ شکل ۲.۲۳

سوال ۲.۱۰۷: $f(x) = -\frac{3}{2}x + 3, x_0 = -3, L = 7.5, \epsilon = 0.15$ شکل ۲.۲۴

سوال ۲.۱۰۸: $f(x) = \sqrt{x}, x_0 = 1, L = 1, \epsilon = \frac{1}{4}$ شکل ۲.۲۵

سوال ۲.۱۰۹: $f(x) = 2\sqrt{x+1}, x_0 = 3, L = 4, \epsilon = 0.2$ شکل ۲.۲۶

سوال ۲.۱۱۰: $f(x) = x^2, x_0 = 2, L = 4, \epsilon = 1$ شکل ۲.۲۷

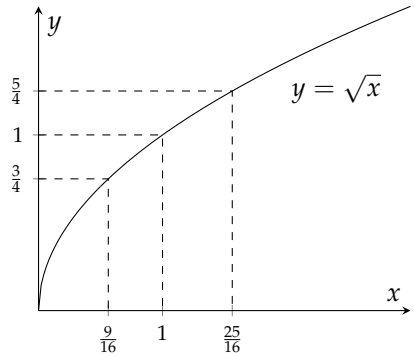

شکل ۲.۲۵: ترسیم برائے سوال ۲.۱۰۸

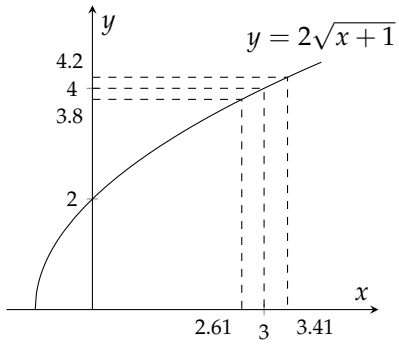

شکل ۲.۲۶: ترسیم برائے سوال ۲.۱۰۹

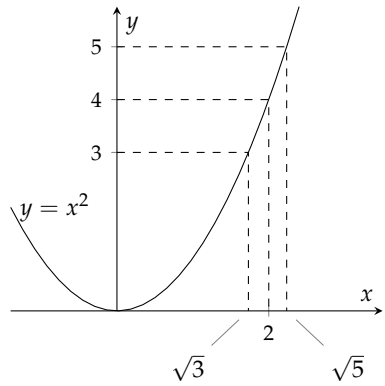

شکل ۲.۲۷: ترسیم برائے سوال ۲.۱۱۰

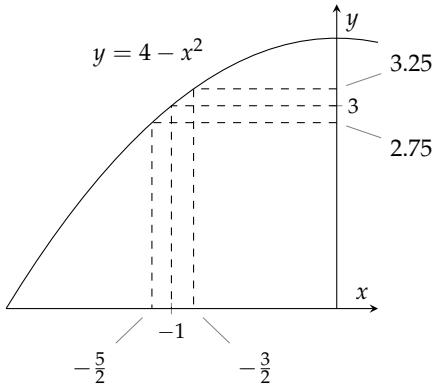

شکل ۲.۲۸: ترسیم برائے سوال ۲.۱۱۱

سوال ۲.۱۱۱: $f(x) = 4 - x^2, x_0 = -1, L = 3, \epsilon = 0.25$ شکل ۲.۲۸

سوال ۲.۱۱۲: $f(x) = \frac{2}{\sqrt{-x}}, x_0 = -1, L = 2, \epsilon = 0.5$ شکل ۲.۲۹

سوال ۲.۱۱۳: $f(x) = \frac{1}{x}, x_0 = \frac{1}{2}, L = 2, \epsilon = 0.01$ شکل ۲.۳۰

δ کا الجبرائی حصول

سوال ۲.۱۱۴ تا سوال ۲.۱۲۹ میں $f(x)$ اور اعداد L ، x_0 اور $\epsilon > 0$ دیے گئے ہیں۔ ہر سوال میں x_0 کے ارد گرد ایسا کھلا وقفہ تلاش کریں جس پر عدم مساوات $\left|f(x) - L\right| < \epsilon$ مطمئن ہوتی ہو۔ اس کے بعد $\delta > 0$ کی ایسی قیمت تلاش کریں کہ عدم مساوات $0 < |x - x_0| < \delta$ کو مطمئن کرنے والے ہر x کے لئے عدم مساوات $\left|f(x) - L\right| < \epsilon$ مطمئن ہوتی ہے۔

سوال ۲.۱۱۴: $f(x) = x + 1, L = 5, x_0 = 4, \epsilon = 0.01$

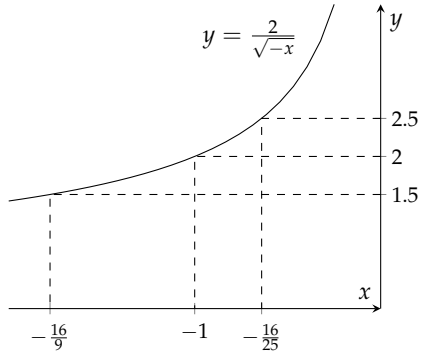

شکل ۲.۲۹: ترسیم برائے سوال ۲.۱۱۲

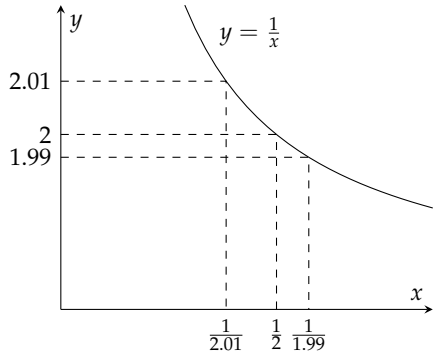

شکل ۲.۳۰: ترسیم برائے سوال ۲.۱۱۳

۱۹۹۱ سوال ۲.۱۱۵: $f(x) = 2x - 2, L = -6, x_0 = -2, \epsilon = 0.02$

۱۹۹۲ سوال ۲.۱۱۶: $f(x) = \sqrt{x+1}, L = 1, x_0 = 0, \epsilon = 0.1$

۱۹۹۳ سوال ۲.۱۱۷: $f(x) = \sqrt{x}, L = \frac{1}{2}, x_0 = \frac{1}{4}, \epsilon = 0.1$

۱۹۹۴ سوال ۲.۱۱۸: $f(x) = \sqrt{19-x}, L = 3, x_0 = 10, \epsilon = 1$

۱۹۹۵ سوال ۲.۱۱۹: $f(x) = \sqrt{x-7}, L = 4, x_0 = 23, \epsilon = 1$

۱۹۹۶ سوال ۲.۱۲۰: $f(x) = \frac{1}{x}, L = \frac{1}{4}, x_0 = 4, \epsilon = 0.05$

۱۹۹۷ سوال ۲.۱۲۱: $f(x) = x^2, L = 3, x_0 = \sqrt{3}, \epsilon = 0.1$

۱۹۹۸ سوال ۲.۱۲۲: $f(x) = x^2, L = 4, x_0 = -2, \epsilon = 0.5$

۱۹۹۹ سوال ۲.۱۲۳: $f(x) = \frac{1}{x}, L = -1, x_0 = -1, \epsilon = 0.1$

۲۰۰۰ سوال ۲.۱۲۴: $f(x) = x^2 - 5, L = 11, x_0 = 4, \epsilon = 1$

۲۰۰۱ سوال ۲.۱۲۵: $f(x) = \frac{120}{x}, L = 5, x_0 = 24, \epsilon = 1$

۲۰۰۲ سوال ۲.۱۲۶: $f(x) = mx, m > 0, L = 2m, x_0 = 2, \epsilon = 0.03$

۲۰۰۳ سوال ۲.۱۲۷: $f(x) = mx, m > 0, L = 3m, x_0 = 3, \epsilon = c > 0$

۲۰۰۴ سوال ۲.۱۲۸: $f(x) = mx + b, m > 0, L = \frac{m}{2} + b, x_0 = \frac{1}{2}, \epsilon = c > 0$

۲۰۰۵ سوال ۲.۱۲۹: $f(x) = mx + b, m > 0, L = m + b, x_0 = 1, \epsilon = 0.05$

۲۰۰۶ **باضابطہ حد پر مزید سوالات**

۲۰۰۷ سوال ۲.۱۳۰ تا سوال ۲.۱۳۵ میں تفاعل $f(x)$، نقطہ x_0، اور مثبت عدد ϵ دیے گئے ہیں۔ $\lim_{x \to x_0} f(x)$ تلاش کریں۔ اس کے بعد ایسا عدد

۲۰۰۸ $\delta > 0$ تلاش کریں کہ تمام x کے لئے درج ذیل ہو۔

$$0 < |x - x_0| < \delta \quad \Longrightarrow \quad |f(x) - L| < \epsilon$$

۲۰۰۹ سوال ۲.۱۳۰: $f(x) = 3 - 2x, x_0 = 3, \epsilon = 0.02$

۲۰۱۰ سوال ۲.۱۳۱: $f(x) = -3x - 2, x_0 = -1, \epsilon = 0.03$

۲۰۱۱ سوال ۲.۱۳۲: $f(x) = \frac{x^2-4}{x-2}, x_0 = 2, \epsilon = 0.05$

۲۰۱۲ سوال ۲.۱۳۳: $f(x) = \frac{x^2+6x+5}{x+5}, x_0 = -5, \epsilon = 0.05$

۲۰۱۳ سوال ۲.۱۳۴: $f(x) = \sqrt{1-5x}, x_0 = -3, \epsilon = 0.5$

۲۰۱۴ سوال ۲.۱۳۵: $f(x) = \frac{4}{x}, x_0 = 2, \epsilon = 0.4$

۲۰۱۵

۲۰۱۶ سوال ۲.۱۳۶ تا سوال ۲.۱۴۹ میں دیا گیا فقرہ حد ثابت کریں۔

۲۰۱۷ سوال ۲.۱۳۶: $\lim\limits_{x\to 4}(9 - x) = 5$

۲۰۱۸ سوال ۲.۱۳۷: $\lim\limits_{x\to 3}(3x - 7) = 2$

۲۰۱۹ سوال ۲.۱۳۸: $\lim\limits_{x\to 9}\sqrt{x-5} = 2$

۲۰۲۰ سوال ۲.۱۳۹: $\lim\limits_{x\to 0}\sqrt{4-x} = 2$

۲۰۲۱ سوال ۲.۱۴۰: $f(x) = \begin{cases} x^2, & x \neq 1 \\ 2, & x = 1 \end{cases}$ کے لئے $\lim\limits_{x\to 1} f(x) = 1$

۲۰۲۲ سوال ۲.۱۴۱: $f(x) = \begin{cases} x^2, & x \neq -2 \\ 1, & x = -2 \end{cases}$ کے لئے $\lim\limits_{x\to -2} f(x) = 4$

۲۰۲۳ سوال ۲.۱۴۲: $\lim\limits_{x\to 1}\frac{1}{x} = 1$

۲۰۲۴ سوال ۲.۱۴۳: $\lim\limits_{x\to \sqrt{3}}\frac{1}{x^2} = \frac{1}{3}$

۲۰۲۵ سوال ۲.۱۴۴: $\lim\limits_{x\to -3}\frac{x^2-9}{x+3} = -6$

۲۰۲۶ سوال ۲.۱۴۵: $\lim\limits_{x\to 1}\frac{x^2-1}{x-1} = 2$

۲۰۲۷ سوال ۲.۱۴۶: $f(x) = \begin{cases} 4 - 2x, & x < 1 \\ 6x - 4, & x \geq 1 \end{cases}$ کے لئے $\lim\limits_{x\to 1} f(x) = 2$

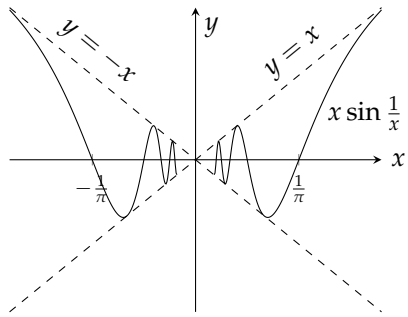

شکل ۲.۳۱: ترسیم برائے سوال ۲.۱۴۸

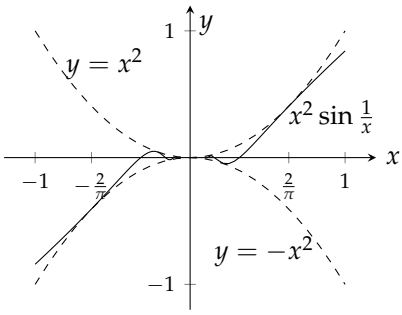

شکل ۲.۳۲: ترسیم برائے سوال ۲.۱۴۹

سوال ۲.۱۴۷: $f(x) = \begin{cases} 2x, & x < 0 \\ \frac{x}{2}, & x \geq 0 \end{cases}$ کے لئے $\lim_{x\to 0} f(x) = 0$

سوال ۲.۱۴۸: $\lim_{x\to 0} x \sin \frac{1}{x} = 0$ شکل ۲.۳۱

سوال ۲.۱۴۹: $\lim_{x\to 0} x^2 \sin \frac{1}{x} = 0$ شکل ۲.۳۲

نظریہ اور مثالیں

سوال ۲.۱۵۰: $\lim_{x\to 2} f(x) = 5$ سے کیا مراد ہے۔ تبصرہ کریں۔

سوال ۲.۱۵۱: $\lim_{x\to 0} g(x) = k$ سے کیا مراد ہے۔ تبصرہ کریں۔

سوال ۲.۱۵۲: یہ کہنا کہ ''جیسے جیسے x کی قیمت x_0 کے نزدیک تر ہوتی جاتی ہے ویسے ویسے $f(x)$ کی قیمت L کے قریب ہوتی جاتی ہے'' سے یہ اخذ نہیں کیا جا سکتا کہ $f(x)$ کی حد L ہے۔ مثال دے کر وضاحت کریں۔

سوال ۲.۱۵۳: یہ کہنا کہ ''کسی بھی دیے گئے $\epsilon > 0$ کے لئے ایسا x پایا جاتا ہے جس پر $|f(x) - L| < \epsilon$ ہے'' سے یہ مراد نہیں لیا جا سکتا ہے کہ $f(x)$ کی حد L ہے۔ مثال دے کر وضاحت کریں۔

سوال ۲.۱۵۴: انجن کی سلنڈر کی رگڑائی

انجن سلنڈر کا رقبہ عمودی تراش $58\,\text{cm}^2$ حاصل کرنے کے لئے رگڑائی کرنے سے پہلے آپ جاننا چاہیں گے کہ سلنڈر کے رقبہ میں خلل کو $\mp 0.06\,\text{cm}^2$ درستگی کے اندر رکھنے کے لئے درکار $8.593\,\text{cm}$ قطر میں چھوٹ کتنی ہے۔ یہ جاننے کی خاطر آپ $A = \frac{\pi d^2}{4}$ لکھ کر $|A - 58| \leq 0.06$ کو حل کرتے ہوئے قطر d تلاش کرتے ہو۔ قطر کا کیا وقفہ حاصل ہو گا؟

سوال ۲.۱۵۵: اوہم کا قانون کہتا ہے کہ $V = IR$ ہو گا جہاں V برقی دباو، I برقی رو اور R برقی مزاحمت ہیں جن کی اکائیاں بالترتیب وولٹ V، ایمپیئر A اور اوہم Ω ہیں (شکل ۲.۳۳)۔ آپ کے ادارے کو کہا گیا ہے کہ وہ برقی مزاحمت فراہم کرے۔ برقی دباو 220 V ہو گی جبکہ برقی رو

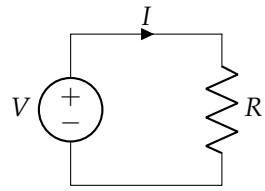

شکل ۲.۳۳: قانون اوہم (سوال ۲.۱۵۵)

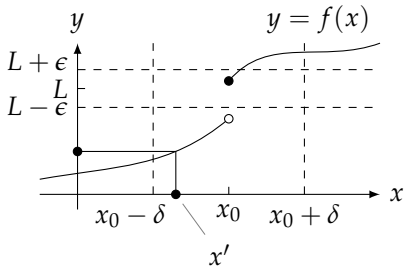

شکل ۲.۳۴

۲۰۴۶ $10\,\text{mA} \mp 0.1\,\text{mA}$ ہونی ضروری ہے۔ مطلوبہ برقی رو $10\,\text{mA}$ میں چھوٹ $0.1\,\text{mA}$ ہے۔ درکار برقی مزاحمت کا وقفہ کیا ہو گا؟

۲۰۴۷

۲۰۴۸ **کب $x \to x_0$ کرنے سے عدد L تفاعل $f(x)$ کا حد نہیں ہو گا؟**

۲۰۴۹ یہ ثابت کرنے کی خاطر آپ کو ایسا $\epsilon > 0$ تلاش کرنا ہو گا جس کے لئے ایسا کوئی $\delta > 0$ نہیں پایا جاتا ہو کہ عدم مساوات $0 < |x - x_0| <$

۲۰۵۰ δ کو مطمئن کرنے والے تمام x کے لئے $\left|f(x) - L\right| < \epsilon$ ہو۔ یہ ثابت کرنے کی خاطر ہم اس ϵ کے لئے ثابت کریں گے کہ ہر $\delta > 0$

۲۰۵۱ کے لئے ایسا x پایا جاتا ہے کہ $0 < |x - x_0| < \delta$ اور $\left|f(x) - L\right| \geq \epsilon$ ہوں (مثلاً شکل ۲.۳۴ میں نقطہ $x = x'$)۔

۲۰۵۲ سوال ۲.۱۵۶: فرض کریں $f(x) = \begin{cases} x, & x < 1 \\ x+1, & x > 1 \end{cases}$ ہے جس کو شکل ۲.۳۵ میں دکھایا گیا ہے۔ (الف) $\epsilon = \frac{1}{2}$

۲۰۵۳ لیتے ہوئے دکھائیں کہ عدم مساوات $0 < |x-1| < \delta$ کو مطمئن کرنے والے تمام x کے لئے کوئی بھی $\delta > 0$ عدم

۲۰۵۴ مساوات $\left|f(x) - 2\right| < \frac{1}{2}$ کو مطمئن نہیں کرتا ہے۔ یعنی ہر δ کے لئے ایسا x پایا جاتا ہے جس پر $0 < |x-1| < \delta$ اور

۲۰۵۵ $\left|f(x) - 2\right| \geq \frac{1}{2}$ ہوتے ہیں۔ یوں $\lim_{x\to 1} f(x) \neq 2$ ہو گا۔

۲۰۵۶ (ب) دکھائیں $\lim_{x\to 1} f(x) \neq 1$

۲۰۵۷ (پ) دکھائیں $\lim_{x\to 1} f(x) \neq 1.5$

۲۰۵۸ سوال ۲.۱۵۷: تفاعل (شکل ۲.۳۶) $h(x) = \begin{cases} x^2, & x < 2 \\ 3, & x = 2 \\ 2, & x > 2 \end{cases}$ کے لئے درج ذیل دکھائیں۔

۲۰۵۹ (الف) $\lim\limits_{x\to 2} h(x) \neq 4$

۲۰۶۰ (ب) $\lim\limits_{x\to 2} h(x) \neq 3$

۲۰۶۱ (پ) $\lim\limits_{x\to 2} h(x) \neq 2$

۲۰۶۲ سوال ۲.۱۵۸: تفاعل کی ترسیم شکل ۲.۳۷ اس کے لئے درج ذیل دکھائیں۔

۲۰۶۳ (الف) $\lim\limits_{x\to 2} f(x) \neq 4$

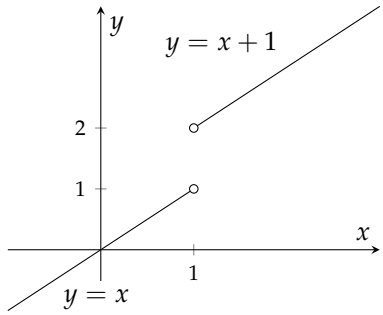

شکل ۲.۳۵: تفاعل کی ترسیم برائے سوال ۲.۱۵۶

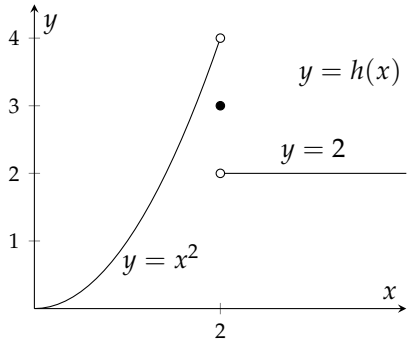

شکل ۲.۳۶: تفاعل کی ترسیم برائے سوال ۲.۱۵۷

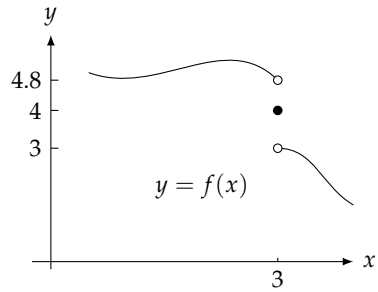

شکل ۲.۳۷: ترسیم برائے سوال ۲.۱۵۸

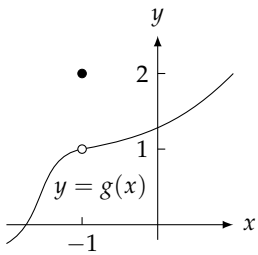

شکل ۲.۳۸: ترسیم برائے سوال ۲.۱۵۹

۲۰۶۴ (ب) $\lim_{x\to 2} f(x) \neq 4.2$

۲۰۶۵ (پ) $\lim_{x\to 2} f(x) \neq 3$

۲۰۶۶ سوال ۲.۱۵۹: دکھائیں کہ شکل ۲.۳۸ کی ترسیم کے لئے $\lim_{x\to -1} g(x) \neq 2$ ہے۔ کیا ایسا نظر آتا ہے جیسی حد $\lim_{x\to -1} g(x)$ موجود ہے؟

۲۰۶۷ اگر حد موجود ہو اس کو تلاش کریں اور اگر حد موجود نہیں تب اس کی غیر موجودگی کی وجہ پیش کریں۔

۲۰۶۸

۲۰۶۹ **حد بذریعہ ترسیم۔ کمپیوٹر کا استعمال**

۲۰۷۰ سوال ۲.۱۶۰ تا سوال ۲.۱۶۵ میں آپ نے ترسیم کے ذریعہ δ تلاش کرنا ہوگا۔ کمپیوٹر استعمال کرتے ہوئے درج ذیل اقدام کریں۔

۲۰۷۱ (الف) تفاعل $y = f(x)$ کو نقطہ x_0 کے قریب ترسیم کریں۔

۲۰۷۲ (ب) ترسیم کو دیکھ کر حد کا اندازہ لگائیں۔ حد کو حساب کے ذریعہ تلاش کرتے ہوئے اپنے اندازے کی تصدیق کریں۔

۲۰۷۳ (پ) $\epsilon = 0.2$ لیتے ہوئے تحدیدی خطوط $y_1 = L - \epsilon$ اور $y_2 = L + \epsilon$ کھینچیں۔ ساتھ ہی x_0 کے قریب تفاعل f ترسیم

کریں۔

(ت) جزوپ سے ایسے $\delta > 0$ کا اندازہ لگائیں کہ تمام x کے لئے درج ذیل مطمئن ہو۔

$$0 < |x - x_0| < \delta \quad \Longrightarrow \quad \left|f(x) - L\right| < \epsilon$$

اپنا اندازہ پرکھنے کی خاطر f ، y_1 اور y_2 کو وقفہ $0 < |x - x_0| < \delta$ پر ترسیم کریں۔ اگر تفاعل کی کوئی قیمت وقفہ $[L - \epsilon, L + \epsilon]$ کے باہر پائی جاتی ہو تب منتخب کردہ δ بہت بڑا تھا لہٰذا δ کی چھوٹی قیمت لیتے ہوئے دوبارہ کوشش کریں۔

(ٹ) جزوپ اور جزوت کو $\epsilon = 0.1, 0.05, 0.001$ کے لئے دہرائیں۔

سوال ۲.۱۶۰: $f(x) = \frac{x^4-81}{x-3}, x_0 = 3$

سوال ۲.۱۶۱: $f(x) = \frac{5x^3+9x^2}{2x^5+3x^2}, x_0 = 0$

سوال ۲.۱۶۲: $f(x) = \frac{\sin 2x}{3x}, x_0 = 0$

سوال ۲.۱۶۳: $f(x) = \frac{x(1-\cos x)}{x-\sin x}, x_0 = 0$

سوال ۲.۱۶۴: $f(x) = \frac{\sqrt[3]{x}-1}{x-1}, x_0 = 1$

سوال ۲.۱۶۵: $f(x) = \frac{3x^2-(7x+1)\sqrt{x}+5}{x-1}, x_0 = 1$

۲.۴ تصور حد کی توسیع

اس حصے میں ہم حد کے تصور کو وسعت دیتے ہیں۔

۱. یک طرفہ حد۔ جب x نقطہ a تک دائیں ہاتھ سے پہنچنے کی کوشش کرے تب **دائیں ہاتھ حد**[۷] حاصل ہو گی۔ اسی طرح جب x نقطہ a تک بائیں ہاتھ سے پہنچنے کی کوشش کرے تب **بائیں ہاتھ حد**[۸] حاصل ہو گی۔

۲. لامتناہی حد۔ اگرچہ یہ حقیقی حد نہیں لیکن یہ ان تفاعل کا رویہ بیان کرنے میں مدد دیتی ہے جن کی قیمت بہت زیادہ مثبت یا بہت زیادہ منفی ہو جاتی ہو۔

یک طرفہ حد

تفاعل f کی نقطہ a پر حد اس صورت L کے برابر ہو گی جب a کے دونوں اطراف f معین ہو اور a کے دونوں اطراف سے نزدیک تر ہونے کی صورت میں f کی قیمت L کے نزدیک تر پہنچتی ہو۔ اسی لئے عام حد کو بعض اوقات **دو طرفہ حد**[۹] بھی کہتے ہیں۔

---

[۷] right-handedlimit
[۸] left-handedlimit
[۹] two-sidedlimit

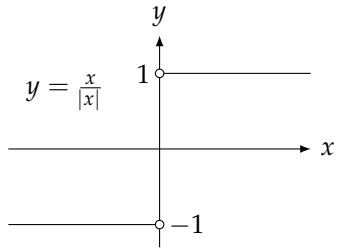

شکل ۲.۳۹: مبدا پر دائیں ہاتھ حد اور بائیں ہاتھ حد مختلف ہیں۔

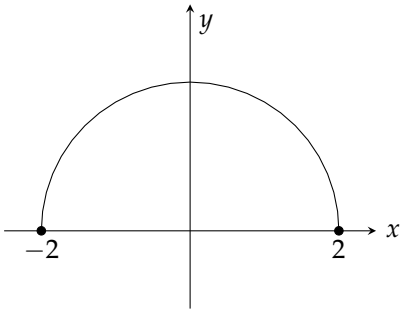

شکل ۲.۴۰: تفاعل کے دائرہ کار کے آخری سروں پر یک طرفہ حد۔

عین ممکن ہے کہ صرف دائیں ہاتھ یا صرف بائیں ہاتھ سے a کے نزدیک تر ہونے سے f کی حد پائی جاتی ہو۔ ایسی صورت میں ہم کہتے ہیں کہ f کی a پر یک طرفہ (دائیں ہاتھ یا دائیں ہاتھ) حد پائی جاتی ہے۔ اگر صفر (مبدا) تک x دائیں ہاتھ سے پہنچنے کی کوشش کرے تب تفاعل $f(x) = \frac{x}{|x|}$ کی حد 1 ہو گی اور اگر صفر تک x بائیں ہاتھ سے پہنچنے کی کوشش کرے تب تفاعل $f(x) = \frac{x}{|x|}$ کی حد -1 ہو گی (شکل ۲.۳۹)۔

تعریف: **دائیں ہاتھ اور بائیں ہاتھ حد کی غیر رسمی تعریف**

فرض کریں وقفہ (a, b)، جہاں $a < b$ ہے، پر تفاعل $f(x)$ معین ہے۔ اگر اس وقفہ کے اندر سے a تک x کے پہنچنے کی کوشش سے $f(x)$ کی قیمت L تک پہنچنے کی کوشش کرتی ہو تب ہم کہتے ہیں کہ a پر $f(x)$ کی **دائیں ہاتھ حد** L ہے جس کو ہم درج ذیل لکھتے ہیں۔

$$\lim_{x \to a^+} f(x) = L$$

فرض کریں وقفہ (c, a)، جہاں $c < a$ ہے، پر تفاعل $f(x)$ معین ہے۔ اگر اس وقفہ کے اندر سے a تک x کے پہنچنے کی کوشش سے $f(x)$ کی قیمت M تک پہنچنے کی کوشش کرتی ہو تب ہم کہتے ہیں کہ a پر $f(x)$ کی **بائیں ہاتھ حد** M ہے جس کو ہم درج ذیل لکھتے ہیں۔

$$\lim_{x \to a^-} f(x) = M$$

شکل ۲.۳۹ میں تفاعل $f(x) = \frac{x}{|x|}$ کے لئے درج ذیل ہیں۔

$$\lim_{x \to a^+} f(x) = 1, \quad \lim_{x \to a^-} f(x) = -1$$

□

$x \to a^+$ سے مراد ہے کہ a تک پہنچتے ہوئے x کی قیمت a سے بڑی رہتی ہے۔ اسی طرح $x \to a^-$ سے مراد ہے کہ a تک پہنچتے ہوئے x کی قیمت a سے چھوٹی رہتی ہے۔

دائرہ کار کے آخری سروں پر تفاعل کی سادہ حد ممکن نہیں البتہ دائرہ کار کے آخری سروں پر تفاعل کی یک طرفہ حد ہو سکتی ہے۔

مثال ۲.۲۴: تفاعل $f(x) = \sqrt{4-x^2}$ کا دائرہ کار $[-2,2]$ ہے۔ تفاعل کی ترسیم نصف دائرہ ہے جس کو شکل ۲.۴۰ میں دکھایا گیا ہے۔ دائرہ کار کے آخری سروں پر یک طرفہ حد درج ذیل ہیں۔

$$\lim_{x\to -2^+} \sqrt{4-x^2} = 0, \quad \lim_{x\to 2^-} \sqrt{4-x^2} = 0$$

$x = 2$ پر تفاعل کی دائیں ہاتھ حد نہیں پائی جاتی۔ اسی طرح نقطہ $x = -2$ پر تفاعل کی بائیں ہاتھ حد نہیں پائی جاتی۔ $x = 2$ اور $x = -2$ پر تفاعل کی سادہ دو طرفہ حد نہیں پائی جاتیں۔ □

مسئلہ ۲.۱ کے تمام خواص پر یک طرفہ حد پوری اترتی ہے۔ دو تفاعل کے مجموعے کی دائیں ہاتھ حد ان تفاعل کی انفرادی دائیں ہاتھ حد کا مجموعہ ہو گی، وغیرہ وغیرہ۔ کثیر رکنی اور ناطق تفاعل کی حد کے مسئلوں اور مسئلہ بیچ پر بھی یک طرفہ حد پوری اترتی ہے۔

یک طرفہ اور دو طرفہ حدود کا آپس میں تعلق درج ذیل مسئلہ پیش کرتا ہے جس کو اس حصے کے آخر میں ثابت کیا گیا ہے۔

مسئلہ ۲.۵: **یک طرفہ بالمقابل دو طرفہ حد**

متغیر x کی c کے نزدیک تر تفاعل $f(x)$ کی حد اس صورت پائی جاتی ہے جب c پر تفاعل کی دائیں ہاتھ اور بائیں ہاتھ حد پائی جاتی ہوں اور یہ حد ایک دوسرے کے برابر ہوں۔

$$\lim_{x\to c} f(x) = L \quad \Leftrightarrow \quad \lim_{x\to c^-} f(x) = L \quad \text{اور} \quad \lim_{x\to c^+} f(x) = L$$

مثال ۲.۲۵: درج ذیل تمام فقرے شکل ۲.۴۱ میں ترسیم شدہ تفاعل کے لئے درست ہیں۔

$x = 0$ پر: $\lim_{x\to 0^+} f(x) = 1$ ہے جبکہ $\lim_{x\to 0^-} f(x)$ اور $\lim_{x\to 0} f(x)$ موجود نہیں۔ ($x = 0$ کی بائیں جانب تفاعل غیر معین ہے۔)

$x = 1$ پر: $\lim_{x\to 1^-} f(x) = 0$ ہے اگرچہ $f(1) = 1$ ہے۔ $\lim_{x\to 1^+} f(x) = 1$ ہے جبکہ $\lim_{x\to 1} f(x)$ موجود نہیں۔ (دائیں ہاتھ اور بائیں ہاتھ حد ایک سے نہیں۔)

$x = 2$ پر: $\lim_{x\to 2^-} f(x) = 1$ اور $\lim_{x\to 2^+} f(x) = 1$ ہیں۔ $\lim_{x\to 2} f(x) = 1$ ہے اگرچہ $f(2) = 2$ ہے۔

$x = 3$ پر: $\lim_{x\to 3^-} f(x) = \lim_{x\to 3^+} f(x) = \lim_{x\to 3} f(x) = f(3) = 2$ ہے۔

$x = 4$ پر: $\lim_{x\to 4^-} f(x) = 1$ ہے اگرچہ $f(4) \neq 1$ ہے۔ $\lim_{x\to 4^+} f(x)$ اور $\lim_{x\to 4} f(x)$ موجود نہیں۔ (نقطہ $x = 4$ کی دائیں جانب تفاعل غیر معین ہے۔)

اس کے علاوہ $[0,4]$ میں ہر نقطہ a پر حد $f(a)$ پائی جاتی ہے۔ □

اب تک کی تمام مثالوں میں جس نقطے پر تفاعل کی حد موجود نہیں تھی وہاں اس کی یک طرفہ حد موجود تھی۔ درج ذیل مثال میں، ماسوائے نقطہ $x = 0$ کے، تفاعل ہر نقطہ پر معین ہے لیکن $x = 0$ پر اس کی نہ دائیں ہاتھ اور نہ ہی بائیں ہاتھ حد پائی جاتی ہے۔

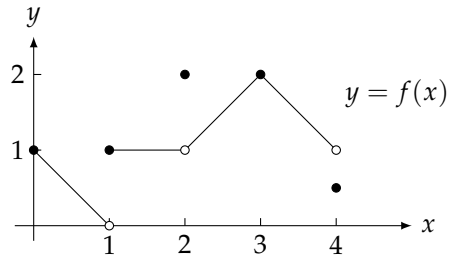

شکل ۲.۴۱: ترسیم برائے مثال ۲.۲۵

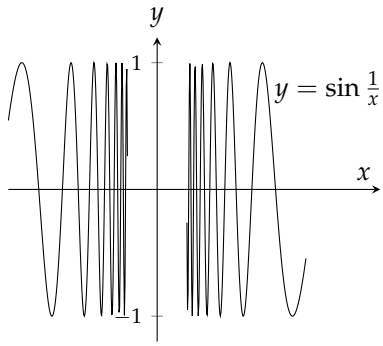

شکل ۲.۴۲: ترسیم برائے مثال ۲.۲۶

مثال ۲.۲۶: دکھائیں کہ متغیر x کا دونوں اطراف سے صفر کے نزدیک تر ہونے سے تفاعل $y = \sin\frac{1}{x}$ کی یک طرفہ حد حاصل نہیں ہوتی (شکل ۲.۴۲)۔

حل: جیسے جیسے x صفر تک پہنچتا ہے تفاعل $f(x) = \frac{1}{x}$ کی قیمت بے قابو بڑھتی ہے جس کی وجہ سے $\sin\frac{1}{x}$ کی قیمت متواتر -1 اور 1 کے بیچ تبدیل ہوتی ہے۔ جیسے جیسے x کی (مثبت یا منفی) قیمت صفر کے قریب تر ہوتی ہے، ایسا کوئی یکتا عدد L نہیں پایا جاتا جس تک $\sin\frac{1}{x}$ کی قیمت قریب تر ہوتی ہو۔ یوں $x = 0$ پر $\sin\frac{1}{x}$ کی نہ دائیں ہاتھ اور نہ ہی بائیں ہاتھ حد پائی جاتی ہے۔ □

لا متناہی حد

آئیں تفاعل $f(x) = \frac{1}{x}$ پر غور کریں جو گزشتہ مثال میں استعمال ہوا۔ جیسے جیسے $x \to 0^+$ ہو ویسے ویسے تفاعل f کی قیمت بڑھتی ہے حتٰی کہ آخر کار f کی قیمت دیے گئے ہر مثبت حقیقی عدد B سے بڑھ جاتی ہے۔ یوں B جتنا بھی بڑا عدد ہو، f آخر کار اس سے بھی بڑا ہو گا (شکل ۲.۴۳)۔ یوں $x \to 0^+$ پر f کی حد نہیں پائی جاتی۔ اس کے قطع نظر، f کا رویہ بیان کرنے کی خاطر ہم کہتے ہیں کہ $x \to 0^+$ کرنے سے $f(x)$ کی قیمت ∞ کے قریب پہنچتی ہے جو درج ذیل لکھا جاتا ہے۔

$$\lim_{x\to 0^+} f(x) = \lim_{x\to 0^+} \frac{1}{x} = \infty$$

یہ لکھنے سے ہم ہرگز یہ نہیں کہتے کہ تفاعل کی حد موجود ہے اور نہ ہی ہم کہتے ہیں کہ حقیقی عدد ∞ پایا جاتا ہے چونکہ ایسا کوئی عدد نہیں پایا جاتا۔ اس کے برعکس ہم کہتے ہیں کہ $\lim_{x\to 0^+}\frac{1}{x}$ موجود نہیں چونکہ $x \to 0^+$ کرنے سے $\frac{1}{x}$ کی قیمت کسی بھی مثبت بڑے عدد سے زیادہ بڑی ہو گی۔

$x \to 0^-$ کرنے سے $f(x) = \frac{1}{x}$ کی قیمت کسی بھی منفی بڑے عدد سے زیادہ بڑی منفی ہو گی (یہاں بڑی سے مراد مطلق مقدار ہے)۔ یوں $f(x)$ کی قیمت کسی بھی دیے گئے منفی حقیقی عدد $-B$ سے آخر کار زیادہ منفی ہو گی (شکل ۲.۴۳)۔ ہم درج ذیل لکھتے ہیں۔

$$\lim_{x\to 0^-} f(x) = \lim_{x\to 0^-} \frac{1}{x} = -\infty$$

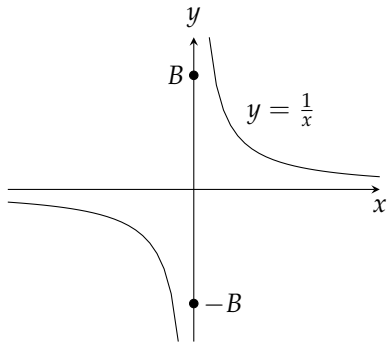

شکل ۲.۴۳: تفاعل کی قیمت ہر مثبت یا منفی عدد سے تجاوز کر جاتی ہے۔

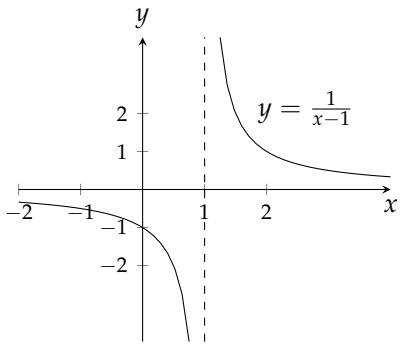

شکل ۲.۴۴: ترسیم برائے مثال ۲.۲۷

یہاں بھی ہم ہر گز نہیں کہتے کہ حد موجود اور عدد $-\infty$ کے برابر ہے اور نہ ہی کہتے ہیں کہ حقیقی منفی عدد $-\infty$ پایا جاتا ہے چونکہ ایسا کوئی عدد نہیں پایا جاتا۔ ہم اس تفاعل کا رویہ بیان کرنا چاہتے ہیں جس کی قیمت $x \to 0^-$ کرنے سے کسی بھی بڑی منفی عدد سے زیادہ منفی ہو گی (یہاں بڑی کا لفظ عدد کی مطلق قیمت کے لئے استعمال کیا گیا ہے)۔

مثال ۲.۲۷: یک طرفہ حد

$\lim_{x\to 1^+} \frac{1}{x-1}$ اور $\lim_{x\to 1^-} \frac{1}{x-1}$ حاصل کریں۔

حل: **ترسیمی حل:** تفاعل $y = \frac{1}{x}$ کی ترسیم کو 1 اکائی دائیں منتقل کرنے سے $y = \frac{1}{x-1}$ کی ترسیم حاصل ہوتی ہے (شکل ۲.۴۴)۔ یوں 1 کے قریب $y = \frac{1}{x-1}$ کا رویہ 0 کے قریب $y = \frac{1}{x}$ کے رویہ کی طرح ہو گا۔ یوں درج ذیل ہوں گے۔

$$\lim_{x\to 1^+} \frac{1}{x-1} = \infty, \quad \lim_{x\to 1^-} \frac{1}{x-1} = -\infty$$

تحلیلی حل: عدد $x - 1$ اور اس کے بالعکس متناسب پر غور کریں۔ $x \to 1^+$ کرنے سے $(x-1) \to 0^+$ اور $\frac{1}{x-1} \to \infty$ حاصل ہوتے ہیں۔ $x \to 1^-$ کرنے سے $(x-1) \to 0^-$ اور $\frac{1}{x-1} \to -\infty$ حاصل ہوتے ہیں۔ □

مثال ۲.۲۸: دو طرفہ لامتناہی حد

(ا) $x = 0$ کے قریب $f(x) = \frac{1}{x^2}$ (ب) $x = -3$ کے قریب $g(x) = \frac{1}{(x+3)^2}$ پر غور کریں۔

حل: (ا) جیسے جیسے x صفر تک کسی بھی طرف سے پہنچنے کی کوشش کرتا ہے، $\frac{1}{x^2}$ کی قیمت مثبت رہتی ہے اور کسی بھی دیے گئے بڑے سے بڑے مثبت عدد B سے تجاوز کر جاتی ہے (شکل ۲.۴۵):

$$\lim_{x\to 0} f(x) = \lim_{x\to 0} \frac{1}{x^2} = \infty$$

(ب) $f(x) = \frac{1}{x^2}$ کی ترسیم کو 3 اکائیاں بائیں منتقل کرنے سے $g(x) = \frac{1}{(x+3)^2}$ کی ترسیم حاصل ہوتی ہے (شکل ۲.۴۶)۔ یوں -3

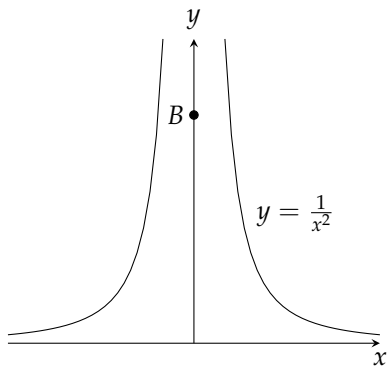

شکل ۲.۴۵: تفاعل $f(x) = \frac{1}{x^2}$ کی ترسیم (مثال ۲.۲۸)

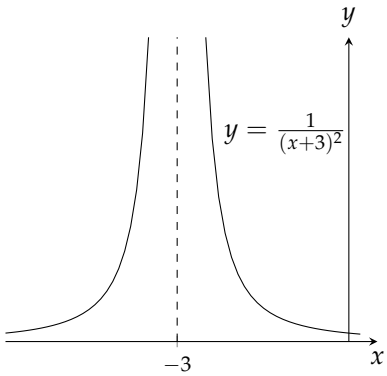

شکل ۲.۴۶: تفاعل $g(x) = \frac{1}{(x+3)^2}$ کی ترسیم (مثال ۲.۲۸)

۲۱۶۰ کے قریب $g(x)$ کا رویہ 0 کے قریب $f(x)$ کے رویے کی طرح ہوگا۔

$$\lim_{x\to -3} g(x) = \lim_{x\to -3} \frac{1}{(x+3)^2} = \infty$$

۲۱۶۱ □

۲۱۶۲ $x \to 0$ کرنے سے تفاعل $y = \frac{1}{x}$ کا رویہ ثابت قدم نہیں رہتا۔ $x \to 0^+$ کرنے سے $\frac{1}{x} \to \infty$ حاصل ہوتا ہے جبکہ $x \to 0^-$
۲۱۶۳ کرنے سے $\frac{1}{x} \to -\infty$ حاصل ہوتا ہے۔ یوں ہم صرف اتنا کہہ سکتے ہیں کہ $\lim_{x\to 0} \frac{1}{x}$ موجود نہیں۔ اس کے برعکس تفاعل $y = \frac{1}{x^2}$ کا
۲۱۶۴ رویہ ثابت قدم ہے۔ صفر کے دونوں اطراف سے x کو قریب لانے سے $\frac{1}{x^2} \to \infty$ حاصل ہوتا ہے لہٰذا ہم کہتے ہیں کہ $\lim_{x\to 0} \frac{1}{x^2} = \infty$
۲۱۶۵ ہے۔

۲۱۶۶ **مثال ۲.۲۹:** ناطق تفاعل کے نسب نما کا صفر کے قریب پہنچنے سے تفاعل کے مختلف رویے دیکھنے کو ملتے ہیں

۲۱۶۷

$$\lim_{x\to 2}\frac{(x-2)^2}{x^2-4}=\lim_{x\to 2}\frac{(x-2)^2}{(x-2)(x+2)}=\lim_{x\to 2}\frac{x-2}{x+2}=0 \qquad \text{(ا)}$$

$$\lim_{x\to 2}\frac{x-2}{x^2-4}=\lim_{x\to 2}\frac{x-2}{(x-2)(x+2)}=\lim_{x\to 2}\frac{1}{x+2}=\frac{1}{4} \qquad \text{(ب)}$$

$$\lim_{x\to 2^+}\frac{x-3}{x^2-4}=\lim_{x\to 2^+}\frac{x-3}{(x-2)(x+2)}=-\infty \qquad \text{(ج)}$$

$$\lim_{x\to 2^-}\frac{x-3}{x^2-4}=\lim_{x\to 2^-}\frac{x-3}{(x-2)(x+2)}=\infty \qquad \text{(د)}$$

$$\lim_{x\to 2}\frac{x-3}{x^2-4}=\lim_{x\to 2}\frac{x-3}{(x-2)(x+2)} \text{ موجود نہیں} \qquad \text{(ہ)}$$

$$\lim_{x\to 2}\frac{2-x}{(x-2)^3}=\lim_{x\to 2}\frac{-(x-2)}{(x-2)^3}=\lim_{x\to 2}\frac{-1}{(x-2)^2}=-\infty \qquad \text{(و)}$$

۲۱۶۸ جزوا اور جزوب میں $x = 2$ پر نسب نما کا صفر شمار کنندہ کے صفر کے ساتھ کٹ جاتا ہے لہٰذا غیر متناہی حد پائی جاتی ہے۔ جزوہ میں ایسا نہیں اور کٹنے کے بعد
۲۱۶۹ بھی نسب نما میں صفر باقی رہتے ہیں۔ □

۲۱۷۰ یک طرفہ حد کی باضابطہ تعریف

۲۱۷۱ دو طرفہ حد کی باضابطہ تعریف کو تبدیل کرتے ہوئے یک طرفہ حد کی تعریف حاصل کی جا سکتی ہے۔

۲۱۷۲ تعریف: **دائیں ہاتھ حد**

۲۱۷۳ اگر ہر عدد $\epsilon > 0$ کے لئے ایسا مطابقتی عدد $\delta > 0$ پایا جاتا ہو کہ $x_0 < x < x_0 + \delta$ میں تمام x کے لئے

$$x_0 < x < x_0+\delta \quad \Longrightarrow \quad |f(x)-L| < \epsilon \qquad \text{(ا)}$$

۲۱۷۴ ہو تب ہم کہتے ہیں کہ $f(x)$ کی دائیں ہاتھ حد L ہے۔ اس کو درج ذیل لکھا جاتا ہے (شکل ۲.۴۷)۔

$$\lim_{x\to x_0^+} f(x) = L$$

۲۱۷۵ **بائیں ہاتھ حد**

۲۱۷۶ اگر ہر عدد $\epsilon > 0$ کے لئے ایسا مطابقتی عدد $\delta > 0$ پایا جاتا ہو کہ $x_0 - \delta < x < x_0$ میں تمام x کے لئے

$$x_0-\delta < x < x_0 \quad \Longrightarrow \quad |f(x)-L| < \epsilon \qquad \text{(۲)}$$

۲۱۷۷ ہو تب ہم کہتے ہیں کہ $f(x)$ کی بائیں ہاتھ حد L ہے۔ اس کو درج ذیل لکھا جاتا ہے (شکل ۲.۴۸)۔

$$\lim_{x\to x_0^-} f(x) = L$$

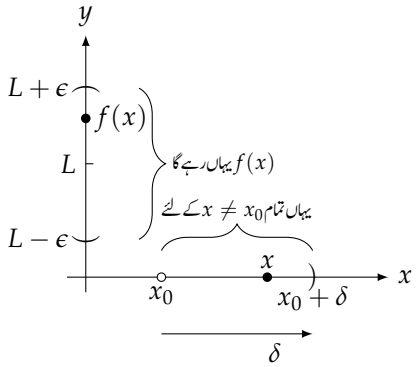

شکل ۲.۴۷: دائیں ہاتھ حد کی تعریف

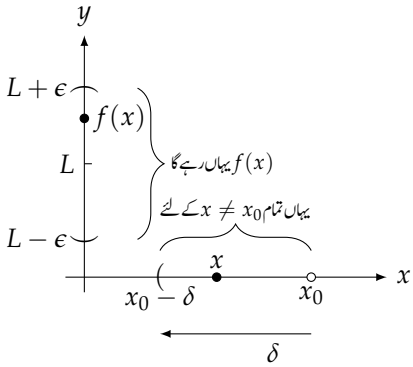

شکل ۲.۴۸: بائیں ہاتھ حد کی تعریف

۲۱۷۸

۲۱۷۹ □

۲۱۸۰ یک طرفہ اور دو طرفہ حد کا تعلق

۲۱۸۱ مساوات ۱ اور مساوات ۲ میں δ والی عدم مساوات سے x_0 منفی کرنے سے یک طرفہ اور دو طرفہ حد کا تعلق حاصل ہوتا ہے۔ دائیں ہاتھ حد کے لئے، x_0
۲۱۸۲ منفی کرنے سے درج ذیل حاصل ہو گا۔

$$0 < x - x_0 < \delta \quad \Longrightarrow \quad |f(x) - L| < \epsilon \tag{۳}$$

۲۱۸۳ بائیں ہاتھ حد کے لئے x_0 منفی کرنے سے درج ذیل حاصل ہو گا۔

$$-\delta < x - x_0 < 0 \quad \Longrightarrow \quad |f(x) - L| < \epsilon \tag{۴}$$

۲۱۸۴ مساوات ۳ اور مساوات ۴ بھی وہی (درج ذیل) بات کرتی ہیں جو دو طرفہ حد کے لئے درست ہے۔

$$0 < |x - x_0| < \delta \quad \Longrightarrow \quad |f(x) - L| < \epsilon \tag{۵}$$

۲۱۸۵ یوں x_0 پر f کی حد اس صورت L ہو گی جب x_0 پر f کی دائیں ہاتھ حد L ہو اور بائیں ہاتھ حد L ہو۔

۲۱۸۶ لا متناہی حد کی باضابطہ تعریف

۲۱۸۷ بجائے یہ کہ x_0 کے کافی قریب تمام x کے لئے ہم کہیں کہ $f(x)$ کی قیمت عدد L کے قریب سے قریب تر ہو، لا متناہی حد کی تعریف میں ہم کہتے ہیں
۲۱۸۸ کہ مبدا سے $f(x)$ کا فاصلہ کسی بھی دیے عدد سے زیادہ ہو۔ اس کے علاوہ حد کی تعریف میں استعمال ہونے والی زبان میں کوئی فرق نہیں پایا جاتا۔ شکل ۲.۴۹
۲۱۸۹ کو دیکھ کر درج ذیل تعریف پڑھیں۔

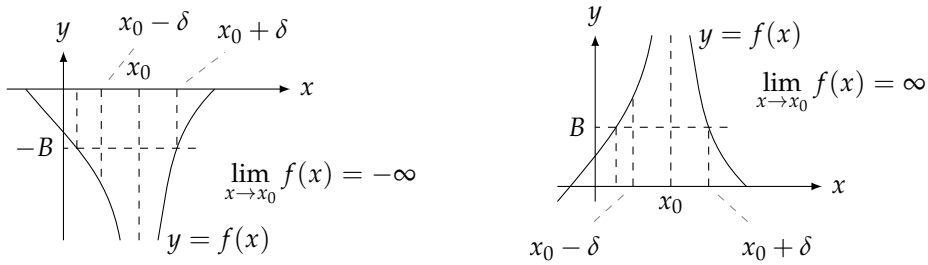

شکل ۲.۴۹: لامتناہی حد کی تعریف

۲۱۹۰ **تعریف: لامتناہی حد**

۲۱۹۱ (ا) اگر ہر مثبت حقیقی عدد B کے لئے ایسا مطابقتی عدد $\delta > 0$ پایا جاتا ہو کہ $0 < |x - x_0| < \delta$ میں تمام x کے لئے
۲۱۹۲ $f(x) > B$ ہو تب ہم کہتے ہیں کہ جیسے جیسے x کی قیمت x_0 کے نزدیک تر ہوتی جاتی ہے ویسے ویسے $f(x)$ کی قیمت لامتناہی کے نزدیک تر ہوتی
۲۱۹۳ جاتی ہے۔ اس کو درج ذیل لکھا جاتا ہے۔

$$\lim_{x\to x_0} f(x) = \infty$$

۲۱۹۴ (ب) اگر ہر منفی حقیقی عدد $-B$ کے لئے ایسا مطابقتی عدد $\delta > 0$ پایا جاتا ہو کہ $0 < |x - x_0| < \delta$ میں تمام x کے لئے
۲۱۹۵ $f(x) < -B$ ہو تب ہم کہتے ہیں کہ جیسے جیسے x کی قیمت x_0 کے نزدیک تر ہوتی جاتی ہے ویسے ویسے $f(x)$ کی قیمت منفی لامتناہی کے نزدیک
۲۱۹۶ تر ہوتی جاتی ہے۔ اس کو درج ذیل لکھا جاتا ہے۔

$$\lim_{x\to x_0} f(x) = -\infty$$

۲۱۹۷ □

۲۱۹۸ یک طرفہ حد کی باضابطہ تعریف بالکل اسی طرح ہے۔ یہ تعریف سوالات میں پیش کی گئی ہے۔

۲۱۹۹ **سوالات**

۲۲۰۰ **حد بذریعہ ترسیم**

۲۲۰۱ سوال ۲.۱۶۶: درج ذیل فقروں میں سے کون سے فقرے شکل ۲.۵۰ میں دیے گئے تفاعل $y = f(x)$ کے لئے درست ہیں؟

۲۲۰۲ ا. $\lim_{x\to -1^+} f(x) = 1$

۲۲۰۳ ب. $\lim_{x\to 0^-} f(x) = 0$

۲۲۰۴ ج. $\lim_{x\to 0^-} f(x) = 1$

۲۲۰۵ د. $\lim_{x\to 0^-} f(x) = \lim_{x\to 0^+} f(x)$

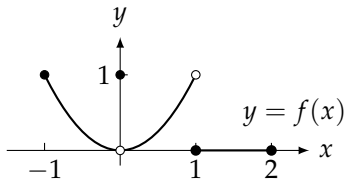

شکل ۲.۵۰: تفاعل برائے سوال ۲.۱۶۶

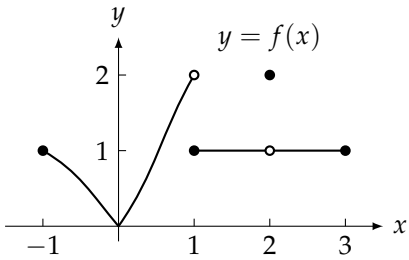

شکل ۲.۵۱: تفاعل برائے سوال ۲.۱۶۷

۲۲۰۶ ھ. $\lim_{x\to 0} f(x)$ موجود ہے۔

۲۲۰۷ و. $\lim_{x\to 0} f(x) = 0$

۲۲۰۸ ز. $\lim_{x\to 0} f(x) = 1$

۲۲۰۹ ح. $\lim_{x\to 1} f(x) = 1$

۲۲۱۰ ط. $\lim_{x\to 1} f(x) = 0$

۲۲۱۱ ي. $\lim_{x\to 2^-} f(x) = 2$

۲۲۱۲ یا. $\lim_{x\to -1^-} f(x)$ غیر موجود ہے۔

۲۲۱۳ یب. $\lim_{x\to 2^+} f(x) = 0$

۲۲۱۴ سوال ۲.۱۶۷: درج ذیل میں سے کون سے فقرے شکل ۲.۵۱ میں دیے تفاعل کے لئے درست اور کون سے غلط ہیں؟

۲۲۱۵ ا. $\lim_{x\to -1^+} f(x) = 1$

۲۲۱۶ ب. $\lim_{x\to 2} f(x)$ غیر موجود ہے۔

۲۲۱۷ ج. $\lim_{x\to 2} f(x) = 2$

۲۲۱۸ د. $\lim_{x\to 1^-} f(x) = 2$

۲۲۱۹ ھ. $\lim_{x\to 1^+} f(x) = 1$

۲۲۲۰ و. $\lim_{x\to 1} f(x)$ غیر موجود ہے۔

۲۲۲۱ ز. $\lim_{x\to 0^+} f(x) = \lim_{x\to 0^-} f(x)$

۲۲۲۲ ح. کھلے وقفہ $(-1,1)$ میں ہر c پر $\lim_{x\to c} f(x)$ موجود ہے۔

۲۲۲۳ ط. کھلے وقفہ $(1,3)$ میں ہر c پر $\lim_{x\to c} f(x)$ موجود ہے۔

۲۲۲۴ ي. $\lim_{x\to -1^-} f(x) = 0$

۲۲۲۵ یا. $\lim_{x\to 3^+} f(x)$ غیر موجود ہے۔

۲۲۲۶ سوال ۲.۱۶۸: درج ذیل تفاعل کو شکل ۲.۱۶۸ میں ترسیم کیا گیا ہے۔

$$f(x) = \begin{cases} 3 - x, & x < 2 \\ \frac{x}{2} + 1, & x > 2 \end{cases}$$

۲۲۲۷ ا. $\lim_{x\to 2^+} f(x)$ اور $\lim_{x\to 2^-} f(x)$ تلاش کریں۔

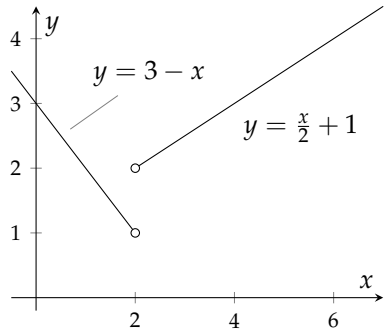

شکل ۲.۵۲: تفاعل برائے سوال ۲.۱۶۸

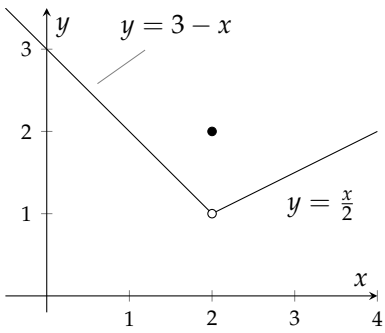

شکل ۲.۵۳: تفاعل برائے سوال ۲.۱۶۹

۲۲۲۸ ب. کیا $\lim_{x\to 2} f(x)$ موجود ہے؟ اگر ہے تو اس کو تلاش کریں اور اگر نہیں ہے تو نہ ہونے کی وجہ پیش کریں۔

۲۲۲۹ ج. $\lim_{x\to 4^-} f(x)$ اور $\lim_{x\to 4^+} f(x)$ تلاش کریں۔

۲۲۳۰ د. کیا $\lim_{x\to 4} f(x)$ موجود ہے۔ اگر موجود ہے تو اس کو تلاش کریں اور اگر نہیں ہے تب نہ ہونے کی وجہ پیش کریں۔

۲۲۳۱ سوال ۲.۱۶۹: درج ذیل کو شکل ۲.۵۳ میں ترسیم کیا گیا ہے۔

$$f(x) = \begin{cases} 3-x, & x<2 \\ 2, & x=2 \\ \frac{x}{2}, & x>2 \end{cases}$$

۲۲۳۲ ا. $\lim\limits_{x\to 2^+} f(x)$ ، $\lim\limits_{x\to 2^-} f(x)$ اور $f(2)$ تلاش کریں۔

۲۲۳۳ ب. کیا $\lim\limits_{x\to 2} f(x)$ موجود ہے؟ اگر ہے تو اس کو تلاش کریں۔ اگر نہیں ہے تب نہ ہونے کی وجہ پیش کریں۔

۲۲۳۴ ج. $\lim\limits_{x\to -1^-} f(x)$ اور $\lim\limits_{x\to -1^+} f(x)$ تلاش کریں۔

۲۲۳۵ د. کیا $\lim\limits_{x\to -1} f(x)$ موجود ہے؟ اگر ہے تو اس کو تلاش کریں۔ اگر نہیں ہے تب نہ ہونے کی وجہ پیش کریں۔

۲۲۳۶ سوال ۲.۱۷۰: درج ذیل تفاعل کو شکل ۲.۵۴ میں ترسیم کیا گیا ہے۔

$$g(x) = \sqrt{x}\sin\frac{1}{x}$$

۲۲۳۷ ا. کیا $\lim_{x\to 0^+} f(x)$ موجود ہے؟ اگر موجود ہے تو اس کو تلاش کریں اور اگر غیر موجود ہے تو غیر موجودگی ہونے کی وجہ پیش کریں۔

۲۲۳۸ ب. کیا $\lim_{x\to 0^-} f(x)$ موجود ہے؟ اگر موجود ہے تو اس کو تلاش کریں اور اگر غیر موجود ہے تو غیر موجودگی ہونے کی وجہ پیش کریں۔

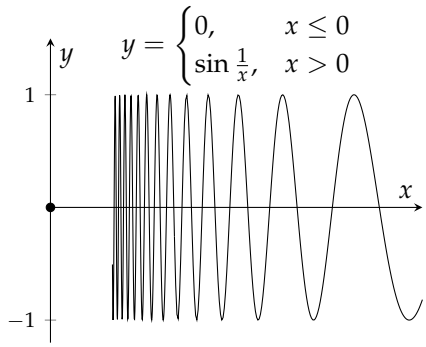

شکل ۲.۵۴: تفاعل برائے سوال ۲.۱۷۰

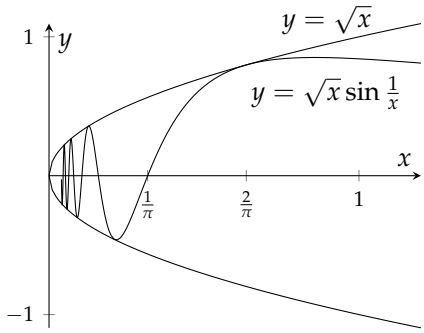

شکل ۲.۵۵: تفاعل برائے سوال ۲.۱۷۱

۲۲۴۹ ج. کیا $\lim_{x\to 0} f(x)$ موجود ہے؟ اگر موجود ہے تو اس کو تلاش کریں اور اگر غیر موجود ہے تو غیر موجودگی ہونے کی وجہ پیش کریں۔

۲۲۵۰ سوال ۲.۱۷۱: درج ذیل تفاعل کو شکل ۲.۵۵ میں ترسیم کیا گیا ہے۔

۲۲۵۱ ا. کیا $\lim\limits_{x\to 0^+} g(x)$ موجود ہے؟ اگر ہے تو اس کو تلاش کریں اور اگر نہیں ہے تو نہ ہونے کی وجہ پیش کریں۔

۲۲۵۲ ب. کیا $\lim\limits_{x\to 0^-} g(x)$ موجود ہے؟ اگر ہے تو اس کو تلاش کریں اور اگر نہیں ہے تو نہ ہونے کی وجہ پیش کریں۔

۲۲۵۳ ج. کیا $\lim\limits_{x\to 0} g(x)$ موجود ہے؟ اگر ہے تو اس کو تلاش کریں اور اگر نہیں ہے تو نہ ہونے کی وجہ پیش کریں۔

۲۲۵۴ سوال ۲.۱۷۲:

۲۲۵۵ ا. تفاعل $f(x) = \begin{cases} x^3, & x \neq 1 \\ 0, & x = 1 \end{cases}$ کو ترسیم کریں۔

۲۲۵۶ ب. $\lim_{x\to 1^-} f(x)$ اور $\lim_{x\to 1^+} f(x)$ تلاش کریں۔

۲۲۵۷ ج. کیا $\lim_{x\to 1} f(x)$ موجود ہے؟ اگر ہے تو اس کو تلاش کریں اور اگر نہیں ہے تب نہ ہونے کی وجہ پیش کریں۔

۲۲۵۸ سوال ۲.۱۷۳:

۲۲۵۹ ا. تفاعل $f(x) = \begin{cases} 1 - x^2, & x \neq 1 \\ 2 & x = 1 \end{cases}$ کو ترسیم کریں۔

۲۲۶۰ ب. $\lim_{x\to 1^-} f(x)$ اور $\lim_{x\to 1^+} f(x)$ تلاش کریں۔

۲۲۶۱ ج. کیا $\lim_{x\to 1} f(x)$ موجود ہے؟ اگر ہے تو اس کو تلاش کریں اور اگر نہیں ہے تب نہ ہونے کی وجہ پیش کریں۔

۲۲۶۲ سوال ۲.۱۷۴ اور سوال ۲.۱۷۵ میں دیے گئے تفاعل کو ترسیم کریں اور درج ذیل کے جوابات دیں۔

۲۲۵۳ ا. تفاعل f کے دائرہ کار اور سعت کیا ہیں؟

۲۲۵۴ ب. اگر کسی نقطہ c پر $\lim_{x\to c} f(x)$ موجود ہو تب اس نقطے کو تلاش کریں۔

۲۲۵۵ ج. کس نقطہ پر صرف بائیں ہاتھ حد وجود ہے؟

۲۲۵۶ د. کس نقطہ پر صرف دائیں ہاتھ حد موجود ہے؟

۲۲۵۷ سوال ۲.۱۷۴:
$$f(x) = \begin{cases} \sqrt{1-x^2}, & 0 \le x < 1 \\ 1, & 0 \le x < 2 \\ 2, & x = 2 \end{cases}$$
۲۲۵۸

۲۲۵۹ سوال ۲.۱۷۵:
$$f(x) = \begin{cases} x, & -1 \le x < 0 \text{ یا } 0 < x \le 1 \\ 1, & x = 0 \\ 0, & x < -1 \text{ یا } x > 1 \end{cases}$$

۲۲۶۰ **حد کا تحلیل حصول:** سوال ۲.۱۷۶ تا سوال ۲.۱۸۵ میں حد تلاش کریں۔

۲۲۶۱ سوال ۲.۱۷۶: $\lim\limits_{x\to -0.5^-} \sqrt{\frac{x+2}{x+1}}$
۲۲۶۲

۲۲۶۳ سوال ۲.۱۷۷: $\lim\limits_{x\to 1^+} \sqrt{\frac{x-1}{x+2}}$

۲۲۶۴ سوال ۲.۱۷۸: $\lim\limits_{x\to -2^+} \left(\frac{x}{x+1}\right)\left(\frac{2x+5}{x^2+x}\right)$
۲۲۶۵

۲۲۶۶ سوال ۲.۱۷۹: $\lim\limits_{x\to 1^-} \left(\frac{1}{x+1}\right)\left(\frac{x+6}{x}\right)\left(\frac{3-x}{7}\right)$

۲۲۶۷ سوال ۲.۱۸۰: $\lim\limits_{h\to 0^+} \frac{\sqrt{h^2+4h+5}-\sqrt{5}}{h}$
۲۲۶۸

۲۲۶۹ سوال ۲.۱۸۱: $\lim\limits_{h\to 0^-} \frac{\sqrt{6}-\sqrt{5h^2+11h+6}}{h}$

۲۲۷۰ سوال ۲.۱۸۲: (ا) $\lim\limits_{x\to -2^+} (x+3)^{\frac{|x+2|}{x+2}}$ (ب) $\lim\limits_{x\to -2^-} (x+3)^{\frac{|x+2|}{x+2}}$
۲۲۷۱

۲۲۷۲ سوال ۲.۱۸۳: (ا) $\lim\limits_{x\to 1^+} \frac{\sqrt{2x}(x-1)}{|x-1|}$ (ب) $\lim\limits_{x\to 1^-} \frac{\sqrt{2x}(x-1)}{|x-1|}$

۲۲۷۳ سوال ۲.۱۸۴: (ا) $\lim\limits_{\theta\to 3^+} \frac{|\theta|}{\theta}$ (ب) $\lim\limits_{\theta\to 3^-} \frac{|\theta|}{\theta}$
۲۲۷۴

۲۲۷۵ سوال ۲.۱۸۵: (ا) $\lim\limits_{t\to 4^+} (t-|t|)$ (ب) $\lim\limits_{t\to 4^-} (t-|t|)$

لامتناہی حد: سوال ۲.۱۸۶ تا سوال ۲.۱۹۷ میں لامتناہی حد تلاش کریں۔

سوال ۲.۱۸۶: $\lim\limits_{x\to 0^+} \frac{1}{3x}$

سوال ۲.۱۸۷: $\lim\limits_{x\to 0^-} \frac{5}{2x}$

سوال ۲.۱۸۸: $\lim\limits_{x\to 2^-} \frac{3}{x-2}$

سوال ۲.۱۸۹: $\lim\limits_{x\to 3^+} \frac{1}{x-3}$

سوال ۲.۱۹۰: $\lim\limits_{x\to -8^+} \frac{2x}{x+8}$

سوال ۲.۱۹۱: $\lim\limits_{x\to -5^-} \frac{3x}{2x+10}$

سوال ۲.۱۹۲: $\lim\limits_{x\to 7} \frac{4}{(x-7)^2}$

سوال ۲.۱۹۳: $\lim\limits_{x\to 0} \frac{-1}{x^2(x+1)^2}$

سوال ۲.۱۹۴: (ا) $\lim\limits_{x\to 0^+} \frac{2}{3x^{1/3}}$ (ب) $\lim\limits_{x\to 0^-} \frac{2}{3x^{1/3}}$

سوال ۲.۱۹۵: (ا) $\lim\limits_{x\to 0^+} \frac{2}{x^{1/5}}$ (ب) $\lim\limits_{x\to 0^-} \frac{2}{x^{1/5}}$

سوال ۲.۱۹۶: $\lim\limits_{x\to 0} \frac{4}{x^{2/5}}$

سوال ۲.۱۹۷: $\lim\limits_{x\to 0} \frac{1}{x^{2/3}}$

سوال ۲.۱۹۸ تا سوال ۲.۲۰۱ میں حد تلاش کریں۔

سوال ۲.۱۹۸: $\lim\limits_{x\to (\pi/2)^-} \tan x$

سوال ۲.۱۹۹: $\lim\limits_{x\to (-\pi/2)^+} \sec x$

سوال ۲.۲۰۰: $\lim\limits_{\theta\to 0^-} (1+\csc\theta)$

سوال ۲.۲۰۱: $\lim\limits_{\theta\to 0} (2-\cot\theta)$

۲۳۰۴ **مزید حساب:** سوال ۲.۲۰۲ تا سوال ۲.۲۰۷ میں دی گئی صورت میں حد تلاش کریں۔

۲۳۰۵ سوال ۲.۲۰۲: $\lim \frac{1}{x^2-4}$

۲۳۰۶ ا. $x \to 2^+$ ۲۳۰۷ ب. $x \to 2^-$ ۲۳۰۸ ج. $x \to -2^+$ ۲۳۰۹ د. $x \to -2^-$

۲۳۱۰ سوال ۲.۲۰۳: $\lim \frac{x}{x^2-1}$

۲۳۱۱ ا. $x \to 1^+$ ۲۳۱۲ ب. $x \to 1^-$ ۲۳۱۳ ج. $x \to -1^+$ ۲۳۱۴ د. $x \to -1^-$

۲۳۱۵ سوال ۲.۲۰۴: $\lim(\frac{x^2}{2} - \frac{1}{x})$

۲۳۱۶ ا. $x \to 0^+$ ۲۳۱۷ ب. $x \to 0^-$ ۲۳۱۸ ج. $x \to \sqrt[3]{2}$ ۲۳۱۹ د. $x \to -1$

۲۳۲۰ سوال ۲.۲۰۵: $\lim \frac{x^2-1}{2x+4}$

۲۳۲۱ ا. $x \to -2^+$ ۲۳۲۲ ب. $x \to -2^-$ ۲۳۲۳ ج. $x \to 1^+$ ۲۳۲۴ د. $x \to 0^-$

۲۳۲۵ سوال ۲.۲۰۶: $\lim \frac{x^2-3x+2}{x^3-2x^2}$

۲۳۲۶ ا. $x \to 0^+$ ۲۳۲۷ ب. $x \to 2^+$ ۲۳۲۸ ج. $x \to 2^-$ ۲۳۲۹ د. $x \to 2$

۲۳۳۰ سوال ۲.۲۰۷: $\lim \frac{x^2-3x+2}{x^3-4x}$

۲۳۳۱ ا. $x \to 2^+$ ۲۳۳۲ ب. $x \to -2^+$ ۲۳۳۳ ج. $x \to 0^-$ ۲۳۳۴ د. $x \to 1^+$

۲۳۳۵ سوال ۲.۲۰۸ تا سوال ۲.۲۱۱ میں دی گئی صورتوں میں حد تلاش کریں۔

۲۳۳۶ سوال ۲.۲۰۸: $\lim(2 - \frac{3}{t^{1/3}})$

۲۳۳۷ ا. $t \to 0^+$ ۲۳۳۸ ب. $t \to 0^-$

۲۳۳۹ سوال ۲.۲۰۹: $\lim(\frac{1}{t^{3/5}} + 7)$

۲۳۴۰ ا. $t \to 0^+$ ۲۳۴۱ ب. $t \to 0^-$

۲۳۴۲ سوال ۲.۲۱۰: $\lim(\frac{1}{x^{2/3}} + \frac{2}{(x-1)^{2/3}})$

۳۴۴۳ ا. $x \to 0^+$ ۳۴۴۴ ب. $x \to 0^-$ ۳۴۴۵ ج. $x \to 1^+$ ۳۴۴۶ د. $x \to 1^-$

۳۴۴۷ سوال ۲.۲۱۱: $\lim(\frac{1}{x^{1/3}} - \frac{1}{(x-1)^{4/3}})$

۳۴۴۸ ا. $x \to 0^+$ ۳۴۴۹ ب. $x \to 0^-$ ۳۴۵۰ ج. $x \to 1^+$ ۳۴۵۱ د. $x \to 1^-$

۳۴۵۲ نظریہ اور مثالیں

۳۴۵۳ سوال ۲.۲۱۲: اگر f کے دائرہ کار کے اندر آپ کو $\lim_{x\to a^+} f(x)$ اور $\lim_{x\to a^-} f(x)$ معلوم ہو تب کیا آپ
۳۴۵۴ $\lim_{x\to a} f(x)$ کے بارے میں کچھ کہہ سکتے ہیں؟ اپنے جواب کی وجہ پیش کریں۔

۳۴۵۵ سوال ۲.۲۱۳: اگر آپ جانتے ہوں کہ $\lim_{x\to c} f(x)$ موجود ہے، کیا آپ $\lim_{x\to c^+} f(x)$ تلاش کرتے ہوئے اس حد کو تلاش کر
۳۴۵۶ سکتے ہیں؟ اپنے جواب کی وجہ پیش کریں۔

۳۴۵۷ سوال ۲.۲۱۴: فرض کریں کہ $f(x)$ متغیر x کا طاق تفاعل ہے۔ کیا یہ جانتے ہوئے کہ $\lim_{x\to 0^+} f(x) = 3$ ہے، آپ
۳۴۵۸ $\lim_{x\to 0^-} f(x) = 3$ کے بارے میں کچھ کہہ سکتے ہیں؟ اپنے جواب کی وجہ پیش کریں۔

۳۴۵۹ سوال ۲.۲۱۵: فرض کریں کہ $f(x)$ متغیر x کا جفت تفاعل ہے۔ اگر $\lim_{x\to 2^-} f(x) = 7$ ہو تب کیا $\lim_{x\to -2^-} f(x)$ یا
۳۴۶۰ $\lim_{x\to -2^+} f(x)$ کے بارے میں کچھ کہنا ممکن ہے؟ اپنے جواب کی وجہ پیش کریں۔

۳۴۶۱ یک طرفہ حد کی باضابطہ تعریف

۳۴۶۲ سوال ۲.۲۱۶: اگر $\epsilon > 0$ ہو تب ایسا وقفہ $I = (5, 5+\delta), \delta > 0$ تلاش کریں کہ اگر x وقفہ I میں پایا جاتا ہو تب
۳۴۶۳ $\sqrt{x-5} < \epsilon$ ہو۔ کس حد کی تصدیق کی جا رہی ہے اور اس کی قیمت کیا ہے؟
۳۴۶۴

۳۴۶۵ سوال ۲.۲۱۷: اگر $\epsilon > 0$ ہو تب ایسا وقفہ $I = (4-\delta, 4), \delta > 0$ تلاش کریں کہ اگر x وقفہ I میں پایا جاتا ہو تب
۳۴۶۶ $\sqrt{4-x} < \epsilon$ ہو۔ کس حد کی تصدیق کی جا رہی ہے اور اس حد کی قیمت کیا ہے؟

۳۴۶۷ دائیں ہاتھ اور بائیں ہاتھ حد کی تعریف استعمال کرتے ہوئے سوال ۲.۲۱۸ اور سوال ۲.۲۱۹ میں دیے الجبرائی فقروں کو ثابت کریں۔

۳۴۶۸ سوال ۲.۲۱۸: $\lim_{x\to 0^-} \frac{x}{|x|} = -1$

۳۴۶۹ سوال ۲.۲۱۹: $\lim_{x\to 2^+} \frac{x-2}{|x-2|} = 1$

۳۴۷۰ سوال ۲.۲۲۰: (ا) $\lim_{x\to 400^+} \lfloor x \rfloor$ اور (ب) $\lim_{x\to 400^-} \lfloor x \rfloor$ تلاش کریں۔ اس کے بعد حد کی تعریف استعمال کرتے ہوئے اپنے
۳۴۷۱ جوابات کی تصدیق کریں۔ (ج) گزشتہ دو اجزاء کے نتائج دیکھ کر کیا $\lim_{x\to 400} \lfloor x \rfloor$ کے بارے میں کچھ کہا جا سکتا ہے؟ اپنے جواب کی وجوہات پیش
۳۴۷۲ کریں۔
۳۴۷۳

سوال ۲.۲۲۱: فرض کریں کہ $f(x) = \begin{cases} x^2 \sin \frac{1}{x}, & x < 0 \\ \sqrt{x}, & x > 0 \end{cases}$ ہے۔ (ا) $\lim_{x\to 0^+} f(x)$ اور (ب) $\lim_{x\to 0^-} f(x)$ تلاش کریں۔ اس کے بعد حد کی تعریف استعمال کرتے ہوئے نتائج کی تصدیق کریں۔ کیا ان نتائج کو دیکھ کر $\lim_{x\to 0} f(x)$ کے بارے میں کچھ کہا جا سکتا ہے؟ اپنے جواب کی وجوہات پیش کریں۔

لامتناہی حد کی باضابطہ تعریف: سوال ۲.۲۲۲ تا سوال ۲.۲۲۵ میں دیے گئے فقروں کو حد کی باضابطہ تعریف کے استعمال سے ثابت کریں۔

سوال ۲.۲۲۲: $\lim_{x\to 0} \frac{1}{x^2} = \infty$

سوال ۲.۲۲۳: $\lim_{x\to 0} \frac{-1}{x^2} = -\infty$

سوال ۲.۲۲۴: $\lim_{x\to 3} \frac{-2}{(x+3)^2} = -\infty$

سوال ۲.۲۲۵: $\lim_{x\to -5} \frac{1}{(x+5)^2} = \infty$

یک طرفہ لامتناہی حد کی باضابطہ تعریف

دائیں ہاتھ لامتناہی حد کی تعریف درج ذیل ہے۔

تعریف: اگر ہر مثبت حقیقی عدد B کے لئے ایسا مطابقتی عدد $\delta > 0$ موجود ہو کہ $x_0 < x < x_0 + \delta$ میں تمام x کے لئے $f(x) > B$ ہو تب ہم کہتے ہیں کہ جیسے جیسے x دائیں ہاتھ سے x_0 کے نزدیک تر ہوتا جاتا ہے ویسے ویسے $f(x)$ لامتناہی کے نزدیک تر ہوتا جاتا ہے، جس کو ہم درج ذیل لکھتے ہیں۔

$$\lim_{x\to x_0^+} = \infty$$

□

سوال ۲.۲۲۶: درج بالا تعریف کو تبدیل کر کے درج ذیل صورتوں کے لئے قابل استعمال بنائیں۔

ا. $\lim_{x\to x_0^-} f(x) = \infty$

ب. $\lim_{x\to x_0^+} f(x) = -\infty$

ج. $\lim_{x\to x_0^-} f(x) = -\infty$

یک طرفہ لامتناہی حد کی باضابطہ تعریف استعمال کرتے ہوئے سوال ۲.۲۲۷ تا سوال ۲.۲۳۲ میں دیے گئے فقرے ثابت کریں۔

سوال ۲.۲۲۷: $\lim_{x\to 0^+} \frac{1}{x} = \infty$

سوال ۲.۲۲۸: $\lim_{x\to 0^-} \frac{1}{x} = -\infty$

سوال ۲.۲۲۹: $\lim_{x\to 2^-} \frac{1}{x-2} = -\infty$

سوال ۲.۲۳۰: $\lim_{x\to 2^+} \frac{1}{x-2} = \infty$

سوال ۲.۲۳۱: $\lim_{x\to 1^+} \frac{1}{1-x^2} = -\infty$

سوال ۲.۲۳۲: $\lim_{x\to 1^-} \frac{1}{1-x^2} = \infty$

۲.۵ استمرار

تجرباتی حاصل معلومات کو ہم عموماً بطور نقطے ترسیم کر کے ہموار خط سے جوڑتے ہیں۔ یوں نقطوں کے بیچ وقت، جہاں کوئی معلومات حاصل نہیں کی گئی، کے بارے میں بھی کچھ کہنا ممکن ہوتا ہے۔ ایسا کرتے ہوئے ہم فرض کرتے ہیں کہ ہم استمراری تفاعل ترسیم کر رہے ہیں جو مسلسل تبدیل ہوتے ہوئے ایک نقطے سے دوسرے نقطے تک پہنچتا ہے نہ کہ ان کے بیچ قیمتوں کو نظرانداز کرتے ہوئے چھلانگ لگا کر پہنچتا ہے۔

اتنے زیادہ طبعی اعمال استمراری ہیں کہ اٹھارویں اور انیسویں صدی میں شاید ہی کسی نے کسی اور قسم کے عمل کے بارے میں سوچا ہو۔ بیسویں صدی میں ماہر طبیعیات نے دریافت کیا کہ ہائیڈروجن سالمہ (مالیکیول) میں جوہر (ایٹم) صرف مخصوص سطح توانائی پر ارتعاش کر سکتے ہیں اور روشنی درحقیقت ذراتی ہے اور گرم مادہ صرف مخصوص انفرادی تعدد کی روشنی خارج کرتا ہے نہ کہ تمام تعدد پر استمراری روشنی خارج کرتا ہے۔ ان غیر متوقع نتائج کے علاوہ شماریات اور کمپیوٹر میں غیر مسلسل تفاعل کے استعمال نے استمرار کے تصور کو عملاً اور نظریاتی طور پر اہم بنایا۔

اس حصے میں استمرار کی تعریف پیش کی جائے گی اور کسی نقطہ پر تفاعل کا استمراری یا غیر استمراری ہونا دکھایا جائے گا۔ استمراری تفاعل کی متوسط قیمت خاصیت پر بھی بات کی جائے گی۔

نقطہ پر استمرار

عملاً، حقیقی متغیر کے زیادہ تر تفاعل کے دائرہ کار پائے جاتے ہیں جو وقفوں یا مختلف وقفوں کے اشتراک پر مبنی ہوتے ہیں۔ ہم انہیں پر غور کرتے ہیں۔ یوں ہمیں تین قسم کے نقطوں پر غور کرنا ہوگا، یعنی **اندرونی نقطے**[10] (وہ نقطے جو دائرہ کار میں کھلے وقفہ کے اندر پائے جاتے ہیں)، **دائیں سر نقطے**[11] اور **بائیں سر نقطے**[12]۔

تعریف: **اندرونی نقطہ پر استمرار**

اگر تفاعل f کے دائرہ کار میں اندرونی نقطہ $x = c$ پر درج ذیل ہو تب اس نقطے پر f استمراری ہوگا۔

$$\lim_{x\to c} f(x) = f(c)$$

---

[10] interiorpoints
[11] rightendpoints
[12] leftendpoints

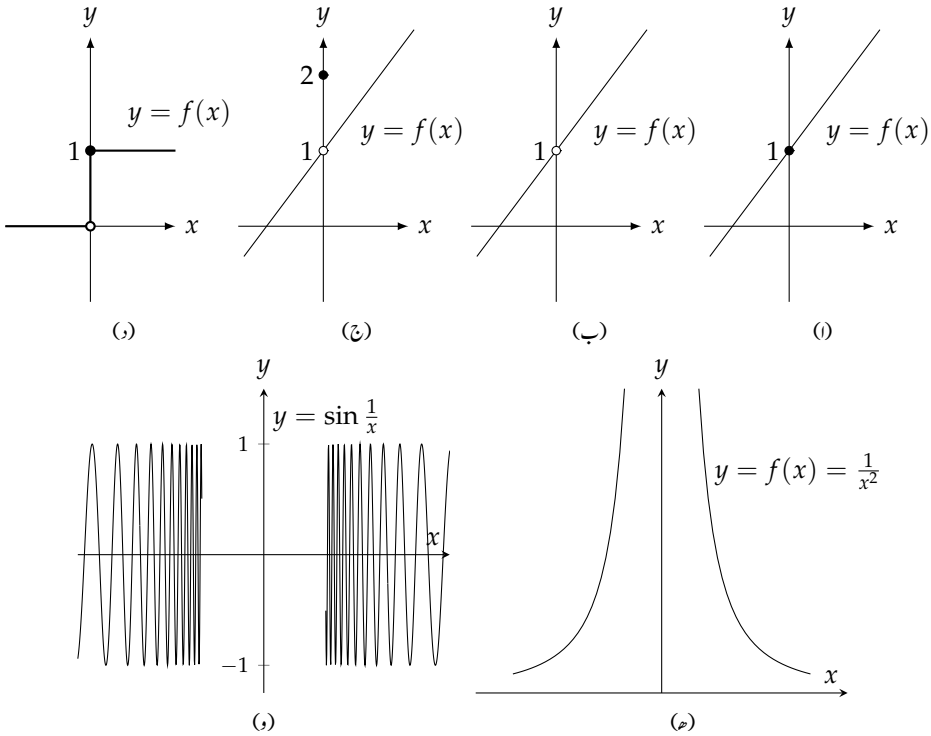

شکل ۲.۵۶: $x = 0$ پر تفاعل (ا) استمراری ہے جبکہ (ب) تا (و) غیر استمراری ہیں۔

۲۴۱۹ □

۲۴۲۰ شکل ۲.۵۶ میں $x = 0$ پر (ا) استمراری ہے۔ اس نقطے پر (ب) بھی استمراری ہوتا اگر $f(0) = 1$ ہوتا۔ اگر تفاعل (ج) میں $f(0) = 2$ کے
۲۴۲۱ بجائے $f(0) = 1$ ہوتا تب یہ بھی استمراری ہوتا۔ (ب) اور (ج) میں عدم استمرار ہٹانے کے قابل ہیں۔ انہیں **قابل ہٹاو**[۱۳] عدم استمرار کہتے ہیں۔ ان
۲۴۲۲ دونوں میں $x \to 0$ کرتے ہوئے حد حاصل ہوتی ہے اور $f(0)$ کو اس حد کے برابر پُر کرنے سے عدم استمرار ہٹایا جا سکتا ہے۔

۲۴۲۳ شکل ۲.۵۶ میں (د) تا (و) میں عدم استمرار زیادہ تشویش ناک ہیں۔ ان میں $\lim_{x\to 0} f(x)$ موجود نہیں لہٰذا $x = 0$ پر f کو تبدیل کرتے ہوئے
۲۴۲۴ صورت حال بہتر نہیں بنائی جا سکتی۔ (د) میں **چھلانگ عدم استمرار**[۱۴] پایا جاتا ہے: اس کی یک طرفہ حد پائی جاتی ہیں لیکن ان کی قیمتیں ایک سی نہیں۔ (ہ) میں
۲۴۲۵ تفاعل $f(x) = \frac{1}{x^2}$ کا **لا متناہی عدم استمرار**[۱۵] پایا جاتا ہے۔ ہمیں عموماً چھلانگ اور لا متناہی عدم استمرار سے واسطہ پڑتا ہے لیکن ان کے علاوہ دیگر عدم

---

[۱۳] removable
[۱۴] jumpdiscontinuity
[۱۵] infinitediscontinuity

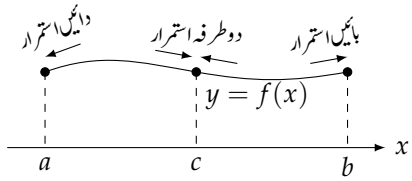

شکل ۲.۵۷: نقطہ a ، b ، اور c پر استمرار

استمرار بھی پائے جاتے ہیں۔ (و) میں مبدا کے قریب f اس لئے غیر استمراری ہے کہ $x \to 0$ کرنے سے تفاعل بہت زیادہ ارتعاش کرتا ہے اور کسی ایک حد تک نہیں پہنچتا۔ (و) میں **ارتعاشی عدم استمرار**[۱۶] پایا جاتا ہے۔

کمپیوٹر کا استعمال کمپیوٹر پر تفاعل ترسیم کرتے ہوئے عدم استمرار پر خصوصی نظر رکھنی ضروری ہے۔ کمپیوٹر آپ کو اجازت دیتا ہے کہ تمام نقطوں کو ہموار لکیر سے جوڑا جائے یا انہیں نہ جوڑا جائے۔ عدم استمرار کو واضح رکھنے کے لئے ضروری ہے کہ نقطوں کو ہموار لکیر سے نہ جوڑا جائے۔

آخری سر نقطوں پر استمرار سے مراد ان نقطوں پر یک طرفہ حد کی موجودگی ہے۔

تعریف: **دائیں سر نقطہ اور بائیں سر نقطہ پر استمرار**
اگر تفاعل f کے دائرہ کار میں نقطہ $x = b$ پر

$$\lim_{x \to b^-} f(x) = f(b)$$

ہو تب تفاعل دائیں سر نقطہ $x = b$ پر استمراری ہوگا۔ اسی طرح اگر تفاعل f کے دائرہ کار میں نقطہ $x = a$ پر

$$\lim_{x \to a^+} f(x) = f(a)$$

ہو تب تفاعل بائیں سر نقطہ $x = a$ پر استمراری ہوگا۔

□

عام طور پر تفاعل f کے دائرہ کار میں نقطہ $x = c$ پر $\lim_{x \to c^+} f(x) = f(c)$ ہونے کی صورت میں تفاعل **دائیں استمراری**[۱۷] ہوگا۔ اسی طرح تفاعل f اس صورت **بائیں استمراری**[۱۸] ہوگا جب تفاعل کے دائرہ کار میں نقطہ $x = c$ پر $\lim_{x \to c^-} f(x) = f(c)$ ہو۔ یوں f کے دائرہ کار کے بائیں سر نقطہ $x = a$ پر f اس صورت استمراری ہوگا جب یہ $x = a$ پر دائیں استمراری ہو اور دائرہ کار کے دائیں سر نقطہ $x = b$ پر f اس صورت استمراری ہوگا جب یہ $x = a$ پر بائیں استمراری ہو۔ دائرہ کار کے اندرونی نقطہ $x = c$ پر f اس صورت استمراری ہوگا جب اس نقطے پر f دائیں استمراری اور (ساتھ ہی) بائیں استمراری ہو (شکل ۲.۵۷)۔

مثال ۲.۳۰: تفاعل $f(x) = \sqrt{4 - x^2}$ اپنے پورے دائرہ کار $[-2, 2]$ میں ہر نقطے پر استمراری ہے۔ اس میں نقطہ $x = -2$ شامل ہے جہاں f دائیں استمراری ہے اور $x = 2$ جہاں f بائیں استمراری ہے (شکل ۲.۵۸)۔

---

[۱۶] oscillatingdiscontinuity
[۱۷] right-continuous
[۱۸] left-continuous

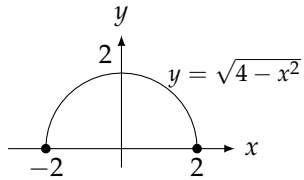

شکل ۲.۵۸: پورے دائرہ کار کے ہر نقطہ پر استمراری

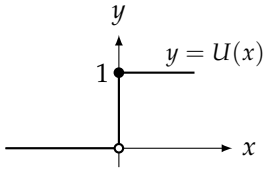

شکل ۲.۵۹: تفاعل مبدا پر دائیں استمراری ہے

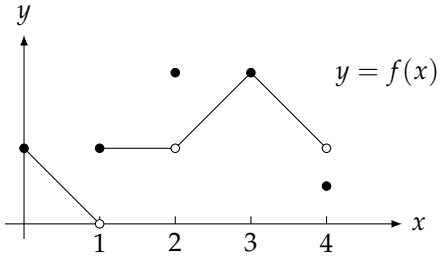

شکل ۲.۶۰: تفاعل f بند وقفہ $[0,4]$ پر معین ہے۔ یہ تفاعل $x = 1,2,4$ پر غیر استمراری جبکہ دائرہ کار میں باقی تمام نقطوں پر استمراری ہے۔

□

مثال ۲.۳۱: شکل ۲.۵۹ میں دکھایا گیا اکائی سیڑھی تفاعل $U(x)$ نقطہ $x = 0$ پر دائیں استمراری ہے جبکہ اس نقطے پر یہ نہ بائیں استمراری اور نہ ہی استمراری ہے۔ □

ہم نقطے پر استمرار کو پرکھ کی صورت میں بیان کرتے ہیں۔

پرکھ استمرار

نقطہ $x = c$ پر تفاعل $f(x)$ صرف اور صرف اس صورت استمراری ہو گا جب یہ درج ذیل تینوں شرائط پر پورا اترتا ہو۔

۱. $f(c)$ موجود ہے (نقطہ c تفاعل f کے دائرہ کار میں پایا جاتا ہے)

۲. $\lim_{x\to c} f(x)$ موجود ہے ($x \to c$ پر f کی حد پایا جاتا ہے)

۳. $\lim_{x\to c} f(x) = f(c)$ (تفاعل کی حد تفاعل کی قیمت کے برابر ہے)

یک طرفہ استمرار اور آخری سر نقطہ پر استمرار کے لئے پرکھ کے جزو 2 اور 3 میں حد کی جگہ مناسب یک طرفہ حد لیں۔

مثال ۲.۳۲: تفاعل $y = f(x)$ جسے شکل ۲.۶۰ میں دکھایا گیا ہے پر غور کریں۔ نقطہ $x = 0,1,2,3,4$ پر تفاعل کے استمرار پر بحث کریں۔

حل: پرکھ استمرار سے درج ذیل نتائج حاصل ہوتے ہیں۔

۱. $x = 0$ پر f استمراری ہے چونکہ

۱. $f(0)$ موجود ہے $(f(0) = 1)$

۲. $\lim_{x\to 0^+} f(x) = 1$ (اس بائیں سرنقطے پر دائیں ہاتھ حد موجود ہے)

۳. $\lim_{x\to 0^+} f(x) = f(0)$ (تفاعل کی قیمت اور حد برابر ہیں)

ب. چونکہ $\lim_{x\to 1} f(x)$ غیر موجود ہے لہٰذا $x = 1$ پر f غیر استمراری ہے۔ پرکھ کا جزو 2 مطمئن نہیں ہوتا: اندرونی نقطہ $x = 1$ پر دائیں ہاتھ اور بائیں ہاتھ حد مختلف ہیں۔ البتہ $x = 1$ پر f دائیں استمراری ہے چونکہ

۱. $f(1)$ موجود ہے $(f(1) = 1)$

۲. $\lim_{x\to 1^+} f(x) = 1$ (نقطہ $x = 1$ پر دائیں ہاتھ حد موجود ہے)

۳. $\lim_{x\to 1^+} f(x) = f(1)$ (دائیں ہاتھ حد اور تفاعل کی قیمتیں برابر ہیں۔)

ج. $\lim_{x\to 2} f(x) \neq f(2)$ کی وجہ سے $x = 2$ پر f غیر استمراری ہے۔ پرکھ کا جزو 3 مطمئن نہیں ہوتا۔

د. $x = 3$ پر f استمراری ہے چونکہ

۱. $f(3)$ موجود ہے $(f(3) = 2)$

۲. $\lim_{x\to 3} f(x) = 2$ (نقطہ $x = 2$ پر حد موجود ہے۔)

۳. $\lim_{x\to 3} f(x) = f(3)$ (تفاعل کی قیمت اور حد برابر ہیں۔)

ھ. چونکہ $\lim_{x\to 4^-} f(x) \neq f(4)$ ہے لہٰذا دائیں سرنقطہ $x = 4$ پر f غیر استمراری ہے۔ دائیں سرنقطے والے پرکھ کا جزو 3 مطمئن نہیں ہوتا۔

□

قواعد استمرار

مسئلہ ۲.۱ کے تحت اگر ایک نقطہ پر دو تفاعل استمراری ہوں تب اس نقطے پر ان تفاعلات کے مختلف الجبرائی میل بھی استمراری ہوں گے۔

مسئلہ ۲.۶: **الجبرائی میل کا استمرار**

اگر نقطہ $x = c$ پر تفاعل f اور g استمراری ہوں تب $x = c$ پر درج ذیل تفاعل بھی استمراری ہوں گے۔

۱. $f + g$ اور $f - g$

۲. fg

۳. kf، جہاں k کوئی عدد ہے

۴. $\frac{f}{g}$ (بشرطیکہ $g(c) \neq 0$ ہو)

۵. $(f(x))^{m/n}$ (بشرطیکہ $(f(x))^{m/n}$ اس وقفے پر معین ہو جس پر c پایا جاتا ہے، اور m اور n عدد صحیح ہوں۔)

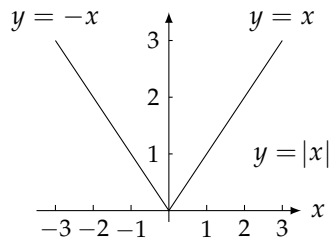

شکل ۲.۶۱: تفاعل کا کونا اس کو استمراری ہونے سے نہیں روکتا (مثال ۲.۳۴)۔

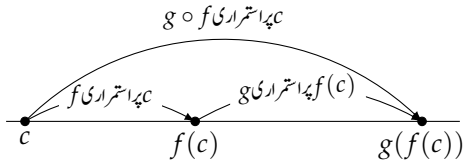

شکل ۲.۶۲: مرکب تفاعل کا استمرار۔

۲۳۸۲

۲۳۸۳ درج بالا مسئلے کے نتیجے میں کثیر رکنی اور ناطق تفاعل ہر اس نقطے پر استمراری ہوں گے جس پر یہ معین ہوں۔

۲۳۸۴ مسئلہ ۲.۷: **کثیر رکنی اور ناطق تفاعل کا استمرار**

۲۳۸۵ حقیقی خط کے ہر نقطہ پر ہر کثیر رکنی استمراری ہو گی۔ ہر ناطق تفاعل اس نقطے پر استمراری ہو گا جس پر اس کا نسب نما غیر صفر ہو۔

۲۳۸۶

۲۳۸۷ مثال ۲.۳۳: x کی ہر قیمت پر تفاعل $f(x) = x^4 + 20$ اور $g(x) = 5x(x-2)$ استمراری ہیں۔ تفاعل

$$r(x) = \frac{x^2 + 20}{5x(x-2)}$$

۲۳۸۸ ماسوائے $x = 0$ اور $x = 2$ جہاں نسب نما صفر ہے، x کی ہر قیمت پر استمراری ہے۔ □

۲۳۸۹ مثال ۲.۳۴: $f(x) = |x|$ **کا استمرار**

۲۳۹۰ x کی ہر قیمت پر تفاعل $f(x) = |x|$ استمراری ہے (شکل ۲.۶۱)۔ $x > 0$ کے لئے $f(x) = x$ ہو گا جو کثیر رکنی ہے۔ اسی طرح $x <$

۲۳۹۱ 0 کے لئے $f(x) = -x$ ہو گا جو دوسری کثیر رکنی ہے۔ آخر میں مبدا پر $\lim_{x\to 0}|x| = 0 = |0|$ ہے۔ □

۲۳۹۲ مثال ۲.۳۵: **تکونیاتی تفاعل کا استمرار**

۲۳۹۳ باب ۳ میں دکھایا جائے گا کہ x کی ہر قیمت پر $\sin x$ اور $\cos x$ استمراری ہیں لہٰذا درج ذیل حاصل تقسیم ان تمام نقطوں پر استمراری ہوں گے جن پر یہ

۲۳۹۴ معین ہوں۔

$$\tan x = \frac{\sin x}{\cos x}, \quad \cot x = \frac{\cos x}{\sin x},$$
$$\sec x = \frac{1}{\cos x}, \quad \csc x = \frac{1}{\sin x}$$

۲۴۹۵ □

۲۴۹۶ مسئلہ ۲.۸: **مرکبات کا استمرار**

۲۴۹۷ اگر c پر f اور $f(c)$ پر g استمراری ہوں تب c پر $g \circ f$ استمراری ہوگا (شکل ۲.۶۲)۔

۲۴۹۸ مرکب کا استمرار کسی بھی متناہی تعداد کے تفاعل کے لئے درست ہے۔ بس اتنا ضروری ہے کہ ہر تفاعل اس نقطے پر استمراری ہو جہاں اس کو لاگو کیا گیا ہو۔

۲۴۹۹ مثال ۲.۳۶: درج ذیل تفاعل اپنے اپنے دائرہ کار کے ہر نقطے پر استمراری ہیں۔

(ا) $y = \sqrt{x}$ — مسئلہ ۲.۶ اور ۲.۷ (کثیر رکنی کی ناطق طاقت)

(ب) $y = \sqrt{x^2 - 2x - 5}$ — مسئلہ ۲.۷ اور مسئلہ ۲.۸ (کثیر رکنی کی طاقت یا جذر کے ساتھ مرکب)

(ج) $y = \dfrac{x\cos(x^{2/3})}{1 + x^4}$ — مسئلہ ۲.۶، ۲.۷ اور ۲.۸ (طاقت، مرکب، حاصل ضرب، کثیر رکنی)

(د) $y = \left|\dfrac{x-2}{x^2-2}\right|$ — مسئلہ ۲.۷ اور ۲.۸ (حتمی قیمت اور ناطق تفاعل کا مرکب)

۲۵۰۰ □

۲۵۰۱ **نقطے تک استمراری توسیع**

۲۵۰۲ ہم نے مثال ۲.۱۳ میں دیکھا کہ ناطق تفاعل کی اس نقطے پر بھی حد موجود ہو سکتی ہے جس پر ناطق تفاعل کا نسب نما صفر کے برابر ہو۔ اگر $f(c)$ غیر معین ہو

۲۵۰۳ لیکن $\lim_{x\to c} f(x) = L$ موجود ہو تب ہم درج ذیل نیا تفاعل $F(x)$ متعارف کر سکتے ہیں۔

$$F(x) = \begin{cases} f(x) & \text{اگر } x \text{ تفاعل } f \text{ کے دائرہ کار میں پایا جاتا ہو} \\ L & \text{اگر } x = c \text{ ہو} \end{cases}$$

۲۵۰۴ تفاعل F نقطہ $x = c$ پر بھی استمراری ہوگا۔ اس کو f کی نقطہ $x = c$ تک **استمراری توسیع**[۱۹] کہتے ہیں اور توسیع شدہ تفاعل کو **وسیع تفاعل**[۲۰]

۲۵۰۵ کہتے ہیں۔ ناطق تفاعل f کی استمراری توسیع کو عموماً مشترک اجزاء کے اسقاط کے ذریعہ حاصل کیا جاتا ہے۔

۲۵۰۶ مثال ۲.۳۷: دکھائیں کہ درج ذیل تفاعل کی $x = 2$ پر استمراری توسیع ممکن ہے۔

$$f(x) = \frac{x^2 + x - 6}{x^2 - 4}$$

۲۵۰۷ حل: اگرچہ $f(2)$ غیر معین ہے، $x \neq 2$ پر درج ذیل لکھا جا سکتا ہے۔

$$f(x) = \frac{x^2 + x - 6}{x^2 - 4} = \frac{(x-2)(x+3)}{(x-2)(x+2)} = \frac{x+3}{x+2}$$

---

[۱۹] continuousextension
[۲۰] extendedfunction

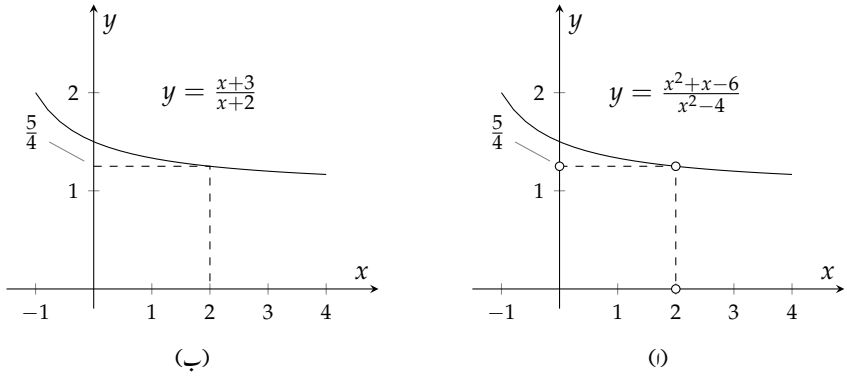

شکل ۲.۶۳: تفاعل $f(x)$ اور اس کی استمراری توسیع $F(x)$

۲۵۰۸ درج ذیل تفاعل $x \neq 2$ پر f کے برابر ہے اور $x = 2$ پر استمراری ہے جہاں اس کی قیمت $\frac{5}{4}$ ہے۔

$$F(x) = \frac{x+3}{x+2}$$

۲۵۰۹ یوں f کی نقطہ $x = 2$ تک توسیع، تفاعل $F(x)$ ہے اور اس نقطے پر تفاعل کی حد درج ذیل ہے۔

$$\lim_{x\to 2} \frac{x^2+x-6}{x^2-4} = \lim_{x\to 2} f(x) = \frac{5}{4}$$

۲۵۱۰ تفاعل f کی ترسیم شکل ۲.۶۳ میں دکھائی گئی ہے۔ F کی بھی یہی ترسیم ہے تاہم اس میں $(2, \frac{5}{4})$ پر سوراخ نہیں پایا جاتا۔ f اور F کا تعلق درج ذیل
۲۵۱۱ ہے۔

$$F = \begin{cases} f, & x \neq 2 \\ \frac{5}{4}, & x = 2 \end{cases}$$

۲۵۱۲ □

۲۵۱۳ **وقفوں پر استمرار**

۲۵۱۴ ایک تفاعل اس صورت استمراری کہلاتا ہے جب یہ اپنے پورے دائرہ کار میں استمراری ہو۔ ایسا تفاعل جو اپنے پورے دائرہ کار میں استمراری نہ ہو، دائرہ کار کے اندر
۲۵۱۵ مخصوص وقفوں میں استمراری ہو سکتا ہے۔

۲۵۱۶ اگر f کے دائرہ کار کے اندر وقفہ I میں ہر اندرونی نقطہ c پر $\lim_{x\to c} f(x) = f(c)$ ہو اور ہر آخری سر نقطہ جو I میں پایا جاتا ہو پر مناسب
۲۵۱۷ یک طرفہ حد اور تفاعل کی قیمت برابر ہوں تب f **وقفہ پر استمراری**[۲۱] کہلائے گا۔ جو تفاعل I پر استمراری ہو یہ تفاعل I کے اندر ہر وقفے پر استمراری ہو
۲۵۱۸ گا۔ کثیر رکنی اور ناطق تفاعل ہر اس وقفے پر استمراری ہوں گے جن پر یہ معین ہوں۔

[۲۱] continuousoninterval

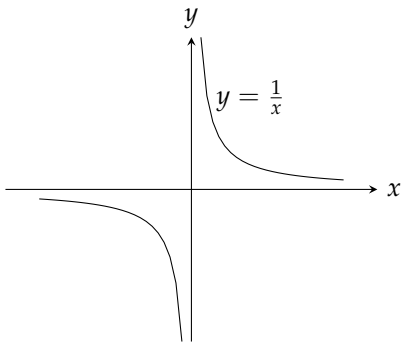

(ب) $(-\infty, 0)$ اور $(0, \infty)$ پر استمراری

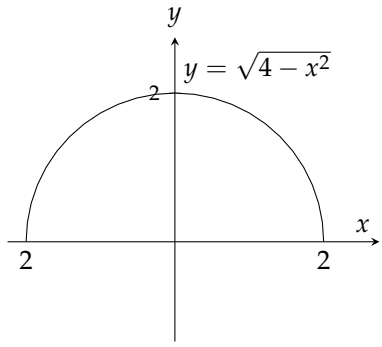

(ا) $[-2, 2]$ پر استمراری

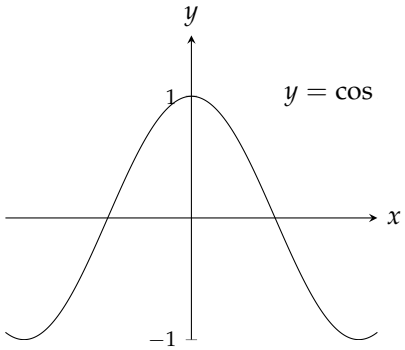

(د) $(-\infty, \infty)$ پر استمراری

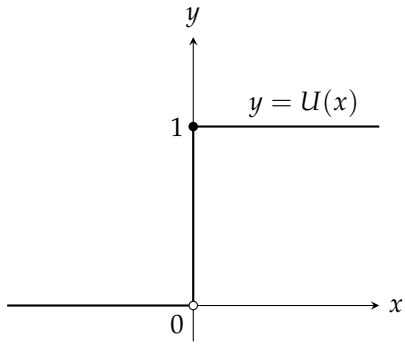

(ج) $(-\infty, 0)$ اور $[0, \infty)$ پر استمراری

شکل ۲.۶۴: وقفوں پر استمراری تفاعل (مثال ۲.۳۸)

مثال ۲.۳۸: وقفوں پر استمراری تفاعل

شکل ۲.۶۴ میں وقفوں پر استمراری تفاعل کی مثالیں ترسیم کی گئی ہیں۔ □

وقفوں پر استمراری تفاعل ایسے خواص رکھتے ہیں جن کی وجہ سے یہ ریاضیات کے لئے نہایت اہم ثابت ہوتے ہیں۔ ان میں ایک **متوسط قیمت خاصیت**[۲۲] ہے۔ جب تفاعل کوئی دو قیمتیں صرف اس صورت دیتا ہو جب تفاعل ان دو قیمتوں کے بیچ تمام قیمتیں بھی دیتا ہو تب ہم کہتے ہیں کہ تفاعل **متوسط قیمت خاصیت** رکھتا ہے۔

مسئلہ ۲.۹: **مسئلہ متوسط قیمت**

فرض کریں کہ تفاعل f وقفہ I پر استمراری ہے جبکہ a اور b اس وقفے پر کوئی دو نقطے ہیں۔ اگر $f(a)$ اور $f(b)$ کے بیچ y_0 ایک عدد ہو تب a اور b کے بیچ ایک ایسا عدد c پایا جائے گا جس پر $f(c) = y_0$ ہو گا (شکل ۲.۶۵)۔

---

[۲۲] intermediatevalueproperty

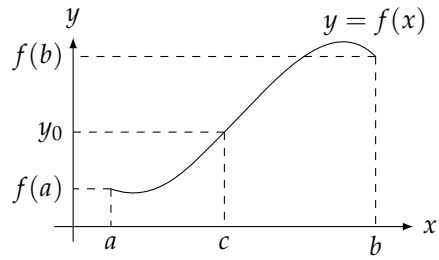

شکل ۲.۶۵: وقفہ $[a, b]$ پر استمراری تفاعل $f(a)$ اور $f(b)$ کے بیچ ہر قیمت رکھتا ہے

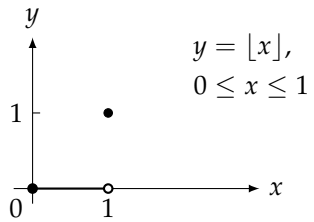

شکل ۲.۶۶: تفاعل $y = \lfloor x \rfloor, 0 \leq x \leq 1$ کوئی بھی قیمت $f(0) = 0$ اور $f(1) = 1$ کے بیچ قبول نہیں کرتا۔

متوسط قیمت مسئلے کا ثبوت، جو اعلیٰ کتابوں میں پایا جاتا ہے، حقیقی اعدادی نظام کی مکملیت پر منحصر ہے۔

اس مسئلے میں وقفہ I پر تفاعل f کا استمرار ضروری ہے۔ اگر I میں واحد ایک نقطے پر بھی f غیر استمراری ہو تب یہ مسئلہ قابل استعمال نہیں ہو گا۔ اس کی ایک مثال شکل ۲.۶۶ میں دی گئی ہے۔

ترسیم کرنے کا نتیجہ: ربط

مسئلہ ۲.۹ کی وجہ سے وقفہ I پر استمراری تفاعل کی ترسیم مسلسل ہوتی ہے، یعنی اس میں کوئی سوراخ یا خالی جگہ نہیں پائی جاتی۔ اس میں عدد صحیح زمین تفاعل $\lfloor x \rfloor$ کی طرح چھلانگ نہیں پائے جاتے اور نہ ہی اس میں تفاعل $\frac{1}{x}$ کی طرح علیحدہ علیحدہ شاخیں پائی جاتی ہیں۔

تلاش جذر

مساوات $f(x) = 0$ کے حل کو $f(x)$ کا **صفر**[۲۳] یا **جذر**[۲۴] کہتے ہیں۔ مسئلہ ۲.۹ کے تحت استمراری تفاعل کی صورت میں جس وقفے میں تفاعل کی علامت $(\pm)$ تبدیل ہوتی ہو اس وقفے میں تفاعل کا صفر پایا جائے گا۔

اس حقیقت کو استعمال کرتے ہوئے ہم $f(x) = 0$ طرز کی مساوات کا حل بذریعہ کمپیوٹر تلاش کر سکتے ہیں (جہاں f استمراری ہے)۔ مساوات کی ترسیم x محور کو f کے جذر پر قطع کرتی ہے۔ ہم $y = f(x)$ کو کسی بڑے وقفے پر ترسیم کرتے ہوئے دیکھتے ہیں کہ ترسیم کہاں x محور کو قطع کرتی ہے۔ ہم ان نقطوں کو باری باری قریب سے دیکھ کر جذر کی اندازاً قیمت حاصل کرتے ہیں۔ اب ہم جذر کی اس اندازاً قیمت کے گرد چھوٹے وقفے پر مساوات ترسیم کرتے ہوئے جذر کی مزید بہتر قیمت تلاش کرتے ہیں۔ اس عمل کو جتنی مرتبہ ضرورت ہو دہراتے ہوئے درکار درستگی تک جذر تلاش کیا جا سکتا ہے۔ شکل ۲.۶۷ میں، قدم بقدم، اس عمل سے $x^3 - 0.25x^2 - 1.25x - 0.75 = 0$ کا جذر حاصل کرنا دکھایا گیا ہے۔

ترسیم سے مساوات کو حل کرتے ہوئے تفاعل کے جذر حاصل کرنے میں زیادہ وقت درکار ہوتا ہے۔ اس سے کم دورانیے میں جذر کو بذریعہ اعدادی تراکیب سے حاصل کیا جا سکتا ہے جیسے آپ حصہ ۴.۸ میں دیکھیں گے۔

---

[۲۳] zero
[۲۴] root

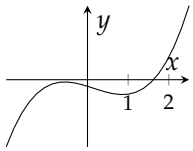

(ا) جذر (صفر) 1 اور 2 کے بیچ پایا جاتا ہے۔

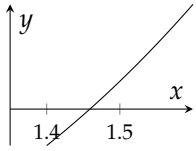

(ب) جذر (صفر) 1.4 اور 1.5 کے بیچ پایا جاتا ہے۔

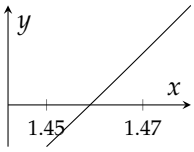

(ج) جذر (صفر) 1.45 اور 1.47 کے بیچ پایا جاتا ہے۔

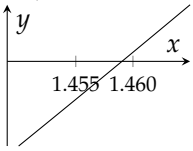

(د) جذر (صفر) 1.455 اور 1.460 کے بیچ پایا جاتا ہے۔

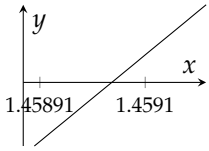

(ھ) جذر (صفر) 1.45891 اور 1.4591 کے بیچ پایا جاتا ہے۔

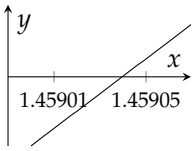

(و) جذر (صفر) 1.45901 اور 1.45905 کے بیچ پایا جاتا ہے۔

شکل ۲.۶۷: ترسیم کے ذریعہ $x^3 - 0.25x^2 - 1.25x - 0.75 = 0$ کے جذر کا قدم باقدم حصول۔

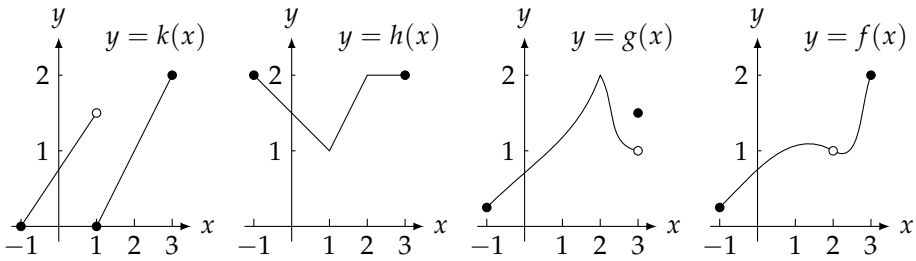

(ا) (ب) (ج) (د)

شکل ۲.۶۸: اشکال برائے سوال ۲.۲۳۳ تا سوال ۲.۲۳۶

۲۵۴۴ **سوالات**

۲۵۴۵ **استمرار بذریعہ ترسیم**

۲۵۴۶ سوال ۲.۲۳۳ تا سوال ۲.۲۳۶ میں دریافت کریں کہ آیا تفاعل وقفہ $[-1, 3]$ پر استمراری ہے۔ استمراری نہ ہونے کی صورت میں بتائیں تفاعل کہاں غیر
۲۵۴۷ استمراری ہے اور ایسا کیوں ہے؟

۲۵۴۸ سوال ۲.۲۳۳: تفاعل $y = f(x)$ جسے شکل ۲.۶۸-ا میں دکھایا گیا ہے۔

۲۵۴۹ سوال ۲.۲۳۴: تفاعل $y = g(x)$ جسے شکل ۲.۶۸-ب میں دکھایا گیا ہے۔

۲۵۵۰ سوال ۲.۲۳۵: تفاعل $y = h(x)$ جسے شکل ۲.۶۸-ج میں دکھایا گیا ہے۔

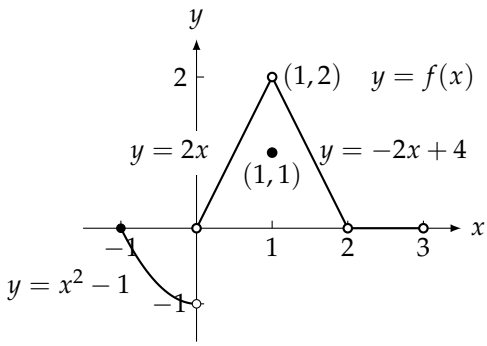

شکل ۲.۶۹: ترسیم برائے سوال ۲.۲۳۷ تا سوال ۲.۲۴۲

۲۵۵۱ سوال ۲.۲۳۶: تفاعل $y = k(x)$ جسے شکل ۲.۶۸-د میں دکھایا گیا ہے۔

۲۵۵۲ سوال ۲.۲۳۷ تا سوال ۲.۲۴۲ درج ذیل تفاعل کے بارے میں ہیں جس کو شکل ۲.۶۹ میں ترسیم کیا گیا ہے

$$f(x) = \begin{cases} x^2 - 1, & -1 \leq x < 0 \\ 2x, & 0 < x < 1 \\ 1, & x = 1 \\ -2x + 4, & 1 < x < 2 \\ 0, & 2 < x < 3 \end{cases}$$

۲۵۵۳ سوال ۲.۲۳۷: (ا) کیا $f(-1)$ موجود ہے؟
۲۵۵۴ (ب) کیا $\lim_{x \to -1^+} f(x)$ موجود ہے؟
۲۵۵۵ (ج) کیا $\lim_{x \to -1^+} f(x) = f(-1)$ ہے؟
۲۵۵۶ (د) کیا $x = -1$ پر $f(x)$ استمراری ہے؟

۲۵۵۷ سوال ۲.۲۳۸: (ا) کیا $f(x)$ موجود ہے؟
۲۵۵۸ (ب) کیا $\lim_{x \to 1} f(x)$ موجود ہے؟
۲۵۵۹ (ج) کیا $\lim_{x \to 1} f(x) = f(1)$ ہے؟
۲۵۶۰ (د) کیا $x = 1$ پر f استمراری ہے؟

۲۵۶۱ سوال ۲.۲۳۹: (ا) کیا $x = 2$ پر f معین ہے؟
۲۵۶۲ (ب) کیا $2 =$ پر f استمراری ہے؟

۲۵۶۳ سوال ۲.۲۴۰: x کی کس قیمت پر f استمراری ہے؟

۲۵۶۴ سوال ۲.۲۴۱: $x = 2$ پر توسیع کردہ تفاعل کو استمراری بنانے کی خاطر $f(2)$ کی کیا قیمت ہونی چاہیے؟

۲۵۶۵ سوال ۲.۲۴۲: $f(1)$ کی کیا قیمت غیر استمرار کو ختم کرے گی؟

پرکھ استمرار کا استعمال

کن نقطوں پر سوال ۲.۲۴۳ اور سوال ۲.۲۴۴ میں دیے گئے تفاعل غیر استمراری ہیں۔ کن نقطوں پر غیر استمرار ختم کیا جا سکتا ہے؟ کن نقطوں پر غیر استمرار ختم نہیں کیا جا سکتا؟ اپنے جوابات کی وجہ پیش کریں۔

سوال ۲.۲۴۳: حصہ ۲.۴ میں سوال ۲.۱۶۶ کے تفاعل۔

سوال ۲.۲۴۴: حصہ ۲.۴ میں سوال ۲.۱۶۷ کے تفاعل۔

سوال ۲.۲۴۵ تا سوال ۲.۲۶۰ میں کن نقطوں پر تفاعل استمراری ہیں۔

سوال ۲.۲۴۵: $y = \frac{1}{x-2} - 3x$

سوال ۲.۲۴۶: $y = \frac{1}{(x+2)^2} + 4$

سوال ۲.۲۴۷: $y = \frac{x+1}{x^2-4x+3}$

سوال ۲.۲۴۸: $y = \frac{x+3}{x^2-3x-10}$

سوال ۲.۲۴۹: $y = |x-1| + \sin x$

سوال ۲.۲۵۰: $y = \frac{1}{|x|+1} - \frac{x^2}{2}$

سوال ۲.۲۵۱: $y = \frac{\cos x}{x}$

سوال ۲.۲۵۲: $y = \frac{x+2}{\cos x}$

سوال ۲.۲۵۳: $y = \csc x$

سوال ۲.۲۵۴: $y = \tan \frac{\pi x}{2}$

سوال ۲.۲۵۵: $y = \frac{x \tan x}{x^2+1}$

سوال ۲.۲۵۶: $y = \frac{\sqrt{x^4+1}}{1+\sin^2 x}$

سوال ۲.۲۵۷: $y = \sqrt{2x+3}$

سوال ۲.۲۵۸: $y = \sqrt[4]{3x-1}$

سوال ۲.۲۵۹: $y = (2x-1)^{1/3}$

سوال ۲.۲۶۰: $y = (2-x)^{1/5}$

مرکب تفاعل کی حد

سوال ۲.۲۶۱ تا سوال ۲.۲۶۶ میں حد تلاش کریں۔

سوال ۲.۲۶۱: $\lim_{x \to \pi} \sin(x - \sin x)$

سوال ۲.۲۶۲: $\lim_{t\to 0} \sin(\frac{\pi}{2}\cos(\tan t))$

سوال ۲.۲۶۳: $\lim_{y\to 1} \sec(y\sec^2 y - \tan^2 y - 1)$

سوال ۲.۲۶۴: $\lim_{x\to 0} \tan(\frac{\pi}{4}\cos(\sin x^{1/3}))$

سوال ۲.۲۶۵: $\lim_{t\to 0} \cos(\frac{\pi}{\sqrt{19-3\sec 2t}})$

سوال ۲.۲۶۶: $\lim_{x\to \pi/6} \sqrt{\csc^2 x + 5\sqrt{3}\tan x}$

استمراری توسیع

سوال ۲.۲۶۷: $g(3)$ کی تعریف یوں کریں کہ $g(x) = \frac{x^2-9}{x-3}$ کی توسیع ہو اور $x = 3$ پر $g(x)$ استمراری ہو جائے۔

سوال ۲.۲۶۸: $h(2)$ کی تعریف یوں کریں کہ $h(t) = \frac{t^2+3t-10}{t-2}$ پر $t = 2$ کی استمراری توسیع ہو۔

سوال ۲.۲۶۹: $f(1)$ کی تعریف یوں کریں کہ $f(s) = \frac{s^3-1}{s^2-1}$ پر $s = 1$ کی استمراری توسیع ہو۔

سوال ۲.۲۷۰: $g(4)$ کی تعریف یوں کریں کہ $g(x) = \frac{x^2-16}{x^2-3x-4}$ پر $x = 4$ کی استمراری توسیع ہو۔

سوال ۲.۲۷۱: a کی کس قیمت کے لئے ہر x پر $f(x) = \begin{cases} x^2-1, & x < 3 \\ 2ax, & x \geq 3 \end{cases}$ استمراری ہے؟

سوال ۲.۲۷۲: b کی کس قیمت کے لئے ہر x پر $g(x) = \begin{cases} x, & x < -2 \\ bx^2, & x \geq -2 \end{cases}$ استمراری ہے؟

استمراری توسیع۔ کمپیوٹر کا استعمال

سوال ۲.۲۷۳ تا سوال ۲.۲۷۶ میں تفاعل f کو ترسیم کرتے ہوئے دیکھیں آیا مبدا پر اس کی استمراری توسیع نظر آتی ہے۔ اگر ایسا ہو تب $x = 0$ پر وسیع تفاعل کی موزوں قیمت تلاش کریں۔ اگر تفاعل کی استمراری توسیع ممکن نہ ہو، تب کیا اس کو مبدا پر دائیں یا بائیں سے استمراری بنایا جا سکتا ہے اور ایسی صورت میں مبدا پر وسیع تفاعل کی قیمت کیا ہو گی؟

سوال ۲.۲۷۳: $f(x) = \frac{10^x-1}{x}$

سوال ۲.۲۷۴: $f(x) = \frac{10^{|x|}-1}{x}$

سوال ۲.۲۷۵: $f(x) = \frac{\sin x}{|x|}$

سوال ۲.۲۷۶: $f(x) = (1+2x)^{1/x}$

نظریہ اور مثالیں

سوال ۲.۲۷۷: ایک استمراری تفاعل کی قیمت $x = 0$ پر منفی اور $x = 1$ پر مثبت ہے۔ $x = 0$ اور $x = 1$ کے بیچ مساوات $f(x) = 0$ کا کم سے کم ایک حل کیوں پایا جائے گا؟ خاکہ کھینچ کر وجہ بیان کریں۔

سوال ۲.۲۷۸: مساوات $\cos x = x$ کا کم سے کم ایک حل کیوں پایا جائے گا؟

سوال ۲.۲۷۹: دکھائیں کہ وقفہ $[-4, 4]$ میں مساوات $x^3 - 15x + 1 = 0$ کے تین حل پائے جاتے ہیں۔

سوال ۲.۲۸۰: دکھائیں کہ کسی x پر تفاعل $F(x) = (x-a)^2(x-b)^2 + x$ کی قیمت $\frac{a+b}{2}$ ہو گی۔

سوال ۲.۲۸۱: دکھائیں کہ c کی ایسی قیمتیں پائی جاتی ہیں جن پر تفاعل $f(x) = x^3 - 8x + 10$ کی قیمتیں (ا) π ؛ (ب) $-\sqrt{3}$ ؛ (ج) $5\,000\,000$ ہوں گی۔

سوال ۲.۲۸۲: سمجھائیں کہ درج ذیل جملے ایک ہی معلومات پوچھتی ہیں۔

(ا) $f(x) = x^3 - 3x - 1$ کے جذر تلاش کریں۔

(ب) اس نقطے کا x محدد تلاش کریں جہاں منحنی $y = x^3$ اور $y = 3x + 1$ ایک دوسرے کو قطع کرتی ہیں۔

(ج) وہ تمام قیمتیں تلاش کریں جن پر $x^3 - 3x = 1$ ہو گا۔

(د) ان نقطوں کے x محدد تلاش کریں جہاں منحنی $y = x^3 - 3x$ خط $y = 1$ کو قطع کرتی ہے۔

(ہ) مساوات $x^3 - 3x - 1 = 0$ حل کریں۔

سوال ۲.۲۸۳: ایسے تفاعل $f(x)$ کی مثال دیں جو تمام x پر استمراری ہو ماسوائے $x = 2$ پر جہاں اس کا قابل ہٹاو عدم استمرار پایا جاتا ہو۔ بتلائیں آپ کیسے جانتے ہیں کہ $x = 2$ پر عدم استمرار پایا جاتا ہے اور کہ یہ عدم استمرار قابل ہٹاو ہے۔

سوال ۲.۲۸۴: ایسے تفاعل $g(x)$ کی مثال دیں جو تمام x پر استمراری ہو ماسوائے $x = -1$ پر جہاں اس کا ناقابل ہٹاو عدم استمرار پایا جاتا ہے۔ بتلائیں آپ کیسے جانتے ہیں کہ $x = 1$ پر عدم استمرار پایا جاتا ہے اور کہ یہ عدم استمرار ناقابل ہٹاو ہے۔

سوال ۲.۲۸۵: تمام نقطوں پر غیر استمراری تفاعل

(ا) اس حقیقت کو بروئے کار لاتے ہوئے کہ حقیقی اعداد کا ہر غیر خالی وقفہ ناطق اور غیر ناطق اعداد پر مشتمل ہے، دکھائیں کہ درج ذیل تفاعل ہر نقطے پر عدم استمراری ہے۔

$$f(x) = \begin{cases} 1 & x \text{ ناطق} \\ 0 & x \text{ غیر ناطق} \end{cases}$$

(ب) کیا کسی نقطے پر f دائیں استمراری یا بائیں استمراری ہے؟

سوال ۲.۲۸۶: اگر $0 \le x \le 1$ پر $f(x)$ اور $g(x)$ استمراری ہوں تب کیا $[0, 1]$ کے کسی نقطے پر $h(x) = f(x) \cdot g(x)$ غیر استمراری ہو سکتا ہے؟ اپنے جواب کی وجہ پیش کریں۔

سوال ۲.۲۸۷: اگر تفاعل $h(x) = f(h) \cdot g(x)$ نقطہ $x = 0$ پر استمراری ہو تب کیا $f(x)$ اور $g(x)$ ضرور $x = 0$ پر استمراری ہوں گے؟ اپنے جواب کی وجہ پیش کریں۔

سوال ۲.۲۸۸: ایسے تفاعل $f(x)$ اور $g(x)$ کی مثال دیں جو $x = 0$ پر استمراری ہوں لیکن ان کا مرکب تفاعل $f \circ g$ نقطہ $x = 0$ پر عدم استمراری ہو۔ کیا یہ مسئلہ ۲.۸ کی خلاف ورزی کرتا ہے؟ اپنے جواب کی وجہ پیش کریں۔

سوال ۲.۲۸۹: کیا یہ کہنا درست ہو گا کہ جو تفاعل کسی وقفے پر کبھی صفر نہیں ہوتا وہ تفاعل اس وقفے پر کبھی علامت تبدیل نہیں کرتا؟ اپنے جواب کی وجہ پیش کریں۔

سوال ۲.۲۹۰: کیا یہ درست ہے کہ ربڑ کی پٹی کو دونوں سروں سے کھینچنے کے باوجود پٹی پر ایک نقطہ ایسا پایا جاتا ہے جو اپنی جگہ برقرار رکھتا ہے؟ اپنے جواب کی وجہ پیش کریں۔

سوال ۲.۲۹۱: مسئلہ مقررہ نقطہ

فرض کریں کہ وقفہ $0,1$ میں تفاعل f استمراری ہے اور $[0,1]$ میں ہر x کے لئے $0 \leq f(x) \leq 1$ ہے۔ دکھائیں کہ $[0,1]$ میں ایسا نقطہ c پایا جاتا ہے جس پر $f(c) = c$ ہو گا۔ c کو f کا **مقررہ نقطہ**[۲۵] کہتے ہیں۔

سوال ۲.۲۹۲: استمراری تفاعل کی علامت برقرار رکھنے کی خاصیت

فرض کریں وقفہ (a,b) پر تفاعل f معین ہے اور نقطہ c جہاں f استمراری ہے پر $f(c) \neq 0$ ہے۔ دکھائیں کہ c کے ارد گرد وقفہ $c - \delta, c + \delta$ میں f کی علامت وہی ہو گی جو c پر $f(c)$ کی علامت ہے۔ یہ ایک غیر معمولی نتیجہ ہے۔ اگرچہ (a,b) پر f معین ہے، کسی بھی نقطے پر تفاعل کا استمراری ہونا ضروری نہیں ماسوائے نقطہ c پر۔ اس کے ساتھ شرط $f(c) \neq 0$ ملانے سے f غیر صفر حاصل ہوتا ہے یعنی پورے وقفے پر f مثبت یا منفی ہو گا۔

سوال ۲.۲۹۳: دکھائیں کہ حصہ ۲.۲ میں مسئلہ ۲.۱ سے اس حصے کا مسئلہ ۲.۶ کس طرح اخذ کیا جا سکتا ہے۔

سوال ۲.۲۹۴: دکھائیں کہ حصہ ۲.۲ میں مسئلہ ۲.۲ اور مسئلہ ۲.۳ سے موجودہ حصے کا مسئلہ ۲.۷ کس طرح اخذ کیا جا سکتا ہے؟

سوال کا حل بذریعہ ترسیم

کمپیوٹر کی مدد سے ترسیم کھینچ کر درج ذیل سوالات حل کریں۔

سوال ۲.۲۹۵: $x^3 - 3x - 1 = 0$

سوال ۲.۲۹۶: $2x^3 - 2x^2 - 2x + 1 = 0$

سوال ۲.۲۹۷: $x(x-1)^2 = 1$

سوال ۲.۲۹۸: $x^x = 2$

سوال ۲.۲۹۹: $\sqrt{x} + \sqrt{x+1} = 4$

سوال ۲.۳۰۰: $x^3 - 15x + 1 = 0$ تین جذر تلاش کریں۔

سوال ۲.۳۰۱: $\cos x = x$ ایک جذر تلاش کریں اور ریڈیئن استعمال کرنا مت بھولیں۔

سوال ۲.۳۰۲: $2\sin x = x$ ایک جذر تلاش کریں اور ریڈیئن استعمال کرنا مت بھولیں۔

---

[۲۵] fixedpoint

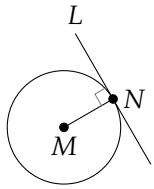

شکل ۲.۷۰: نقطہ N پر مماس اور رداس آپس میں عمودی ہیں۔

۲.۶ مماسی خط

حصہ ۲.۱ میں سیکنٹ اور مماس پر بحث کی گئی۔ اس بحث کو اس حصے میں جاری رکھتے ہیں۔ ہم سیکنٹ کے ڈھلوان کی حد تلاش کرتے ہوئے منحنی کا مماس حاصل کریں گے۔

منحنی کے مماس سے کیا مراد ہے؟

دائرے کے مماس کا مطلب سیدھا سادہ ہے۔ نقطہ N پر دائرہ C کے مماس سے مراد خط L ہے جو نقطہ N سے گزرتا ہے اور جو N پر رداس کا عمود ہے (شکل ۲.۷۰)۔ نقطہ N پر کسی دوسری منحنی C کے مماس سے کیا مراد ہے؟ دائرے کی جیومیٹری دیکھ کر ہم کہہ سکتے ہیں کہ مماس کا مطلب درج ذیل میں سے ایک ہو سکتا ہے۔

۱. N سے C کے مرکز تک لکیر کو قائمہ خط L ہے،

۲. خط L منحنی C کو صرف ایک نقطہ، یعنی N پر مس کرتا ہے،

۳. خط L نقطہ N سے گزرتا ہے اور منحنی C کی ایک جانب رہتا ہے۔

اگرچہ یہ تینوں جملے دائرے کی صورت میں درست ہیں البتہ یہ ہر منحنی کے لئے بلا تضاد درست نہیں۔ عموماً منحنیات کا مرکز نہیں پایا جاتا، اور نقطہ N پر جس خط کو ہم C کا مماس کہنا چاہتے ہیں وہ C کو کسی دوسرے نقطے پر قطع کر سکتا ہے یا N پر منحنی کی دوسری جانب جا سکتا ہے۔ اس کے علاوہ ضروری نہیں کہ منحنی کو صرف ایک نقطہ پر مس کرتا ہوا سیدھا خط منحنی کا مماس ہو (شکل ۲.۷۱)۔

عمومی منحنی کا مماس متعارف کرنے کی خاطر ہمیں متحرک حکمت عملی سے کام لینا ہو گا۔ ہم نقطہ N اور اس کے قریب نقطہ Q سے گزرتے سیکنٹ پر نظر رکھتے ہوئے Q کو منحنی پر رکھ کر N کے نزدیک لاتے ہیں (شکل ۲.۷۲)۔ اس حکمت عملی میں ہم درج ذیل اقدام کرتے ہیں۔

۱. ہم سیکنٹ NQ کے ڈھلوان کا حساب لگاتے ہیں۔

۲. منحنی پر رہتے ہوئے Q کو N کے نزدیک تر کرتے ہوئے سیکنٹ کے ڈھلوان کی حد پر غور کرتے ہیں۔

۳. اگر یہ حد موجود ہو ہم اس کو N پر منحنی کا ڈھلوان تسلیم کرتے ہوئے اس خط کو N پر C کا مماس تسلیم کرتے ہیں جس کا ڈھلوان اس حد کے برابر ہو اور جو N سے گزرتا ہو۔

مثال ۲.۳۹: نقطہ $N(2,4)$ پر قطع مکافی $y = x^2$ کا ڈھلوان تلاش کریں۔ اس نقطے پر قطع مکافی کے مماس کی مساوات حاصل کریں (شکل ۲.۷۳)۔

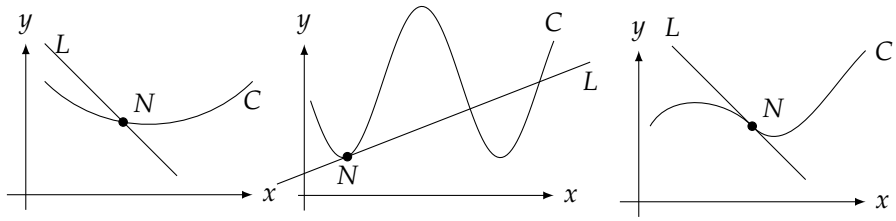

(ا) N پر L منحنی C کا مماس ہے لیکن یہ منحنی کے دونوں اطراف پر پایا جاتا ہے۔ (ب) نقطہ N پر L منحنی C کا مماس ہے لیکن یہ منحنی کو کئی نقطوں پر قطع کرتا ہے۔ (ج) اگرچہ L منحنی C کو ایک نقطہ N پر مس کرتا ہے، یہ منحنی کا مماس نہیں۔

شکل ۲.۷۱: عمومی منحنی کے مماس۔

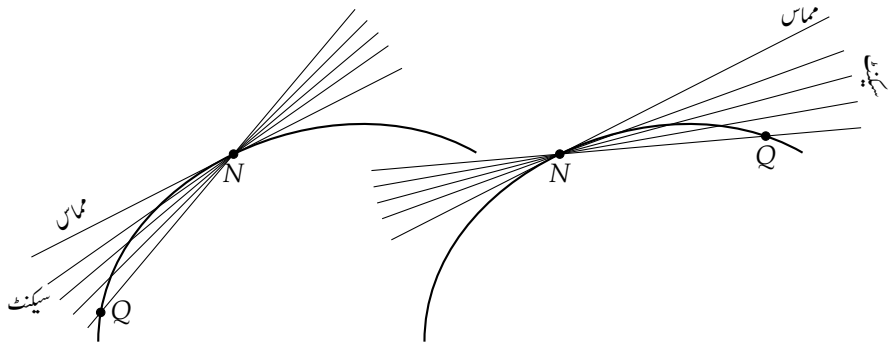

شکل ۲.۷۲: نقطہ N کی دائیں یا بائیں جانب منحنی C پر نقطہ Q کو N کے قریب تر کرنے سے N پر C کا مماس حاصل ہوگا۔



شکل ۲.۷۳: قطع مکافی کا مماس (مثال ۲.۳۹)

۲۶۹۰ حل: ہم $N(2,4)$ اور $Q(2+h,(2+h)^2)$ سے سیکنٹ گزار کر اس کے ڈھلوان کی مساوات لکھتے ہیں۔

$$\text{سیکنٹ کا ڈھلوان} = \frac{\Delta y}{\Delta x} = \frac{(2+h)^2-2^2}{(2+h)-(2)} = \frac{h^2+4h+4-4}{h} = \frac{h^2+4h}{h} = h+4$$

۲۶۹۱ اگر $h > 0$ ہو تب N کی دائیں جانب اور اس سے اوپر نقطہ Q پایا جائے گا۔ اگر $h < 0$ ہو تب N کی بائیں جانب اور اس سے نیچے نقطہ Q پایا
۲۶۹۲ جائے گا۔ دونوں صورتوں میں قطع مکافی پر رہتے ہوئے جیسے جیسے نقطہ Q نقطہ N کے نزدیک پہنچتا ہے ویسے ویسے h کی قیمت صفر کے نزدیک پہنچتی ہے
۲۶۹۳ جس سے سیکنٹ کے ڈھلوان کی درج ذیل حد حاصل ہوتی ہے۔

$$\lim_{h\to 0}(h+4) = 4$$

۲۶۹۴ ہم N پر قطع مکافی کا ڈھلوان 4 تسلیم کرتے ہیں۔ نقطہ N پر قطع مکافی کا مماس وہ خط ہے جس کا ڈھلوان 4 ہے اور جو نقطہ $(2,4)$ سے گزرتا
۲۶۹۵ ہے۔ اس مماس کی مساوات درج ذیل ہو گی۔

$$\begin{aligned} y &= 4 + 4(x-2) && \text{نقطہ و ڈھلوان مساوات} \\ &= 4x - 4 \end{aligned}$$

۲۶۹۶ □

۲۶۹۷ تفاعل کی ترسیم کا مماس

۲۶۹۸ نقطہ $N(x_0, f(x_0))$ پر تفاعل $y = f(x)$ کا مماس اسی متحرک حکمت عملی سے حاصل کیا جاتا ہے۔ ہم N اور $Q(x_0 + h, f(x_0+h))$
۲۶۹۹ سے گزرتا ہوا سیکنٹ بناتے ہیں۔ اس کے بعد $h \to 0$ کرتے ہوئے سیکنٹ کے ڈھلوان کی حد تلاش کرتے ہیں (شکل
۲۷۰۰ ۲.۷۴)۔ اگر یہ حد موجود ہو، اس کو N پر منحنی کے مماس کا ڈھلوان مانتے ہیں اور اتنے ڈھلوان کا سیدھا خط جو N سے گزرتا ہو کو N پر منحنی کا مماس قبول
۲۷۰۱ کرتے ہیں۔

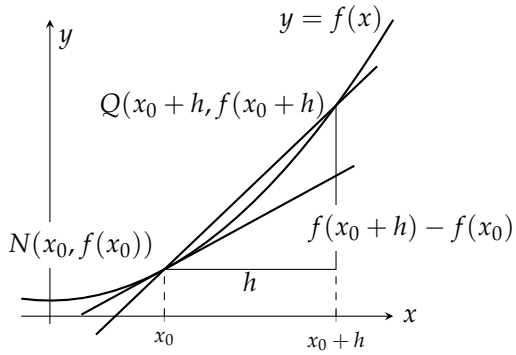

شکل ۲.۷۴: مماس کا ڈھلوان $\lim\limits_{h\to 0} \frac{f(x_0+h)-f(x_0)}{h}$ ہوگا۔

۲۷۰۲ **تعریف:** نقطہ $N(x_0, f(x_0))$ پر تفاعل $y = f(x)$ کا **ڈھلوان** درج ذیل عدد کو کہتے ہیں۔

$$m = \lim_{h\to 0} \frac{f(x_0 + h) - f(x_0)}{h} \qquad \text{(بشرطیکہ یہ حد موجود ہو۔)}$$

۲۷۰۳ N پر اتنے ڈھلوان کے خط کو اس نقطے پر منحنی کا **مماس** کہتے ہیں۔

۲۷۰۴ □

۲۷۰۵ نئی تعریف پیش کرنے کے بعد اس کو جانی پہچانی منحنیات پر لاگو کر کے متوقع جوابات حاصل کر کے ہمارا یقین پختہ ہوتا ہے۔ درج ذیل مثال دکھاتی ہے کہ

۲۷۰۶ ڈھلوان کی موجودہ تعریف ہمیں غیر انتصابی لکیروں کی صورت میں متوقع جوابات دیتی ہے۔

۲۷۰۷ **مثال ۲.۴۰:** ڈھلوان کی تعریف کا استعمال

۲۷۰۸ دکھائیں کہ نقطہ $(x_0, mx_0 + b)$ پر خط $y = mx + b$ کا مماس یہی خط ہے۔

۲۷۰۹ **حل:** ہم $f(x) = mx + b$ لے کر قدم باقدم چلتے ہیں۔

۲۷۱۰ **پہلا قدم:** $f(x_0)$ اور $f(x_0 = h)$ ڈھونڈتے ہیں۔

$$\begin{aligned} f(x_0) &= mx_0 + b \\ f(x_0 + h) &= m(x_0 + h) + b = mx_0 + mh + b \end{aligned}$$

۲۷۱۱ **دوسرا قدم:** ڈھلوان تلاش کرتے ہیں۔

$$\begin{aligned} \lim_{h\to 0} \frac{f(x_0 + h) - f(x_0)}{h} &= \lim_{h\to 0} \frac{(mx_0 + mh + b) - (mx_0 + b)}{h} \\ &= \lim_{h\to 0} \frac{mh}{h} = m \end{aligned}$$

۲۷۱۲ **تیسرا قدم:** نقطہ وڈھلوان مساوات استعمال کرتے ہوئے مماس کی مساوات لکھتے ہیں۔ نقطہ $x_0, mx_0 + b$ پر مماس کی مساوات درج ذیل ہو گی۔

$$\begin{aligned} y &= (mx_0 + b) + m(x - x_0) \\ &= mx_0 + b + mx - mx_0 \\ &= mx + b \end{aligned}$$

۲۷۱۳ □

۲۷۱۴ مثال ۲.۴۱: (ا) $x = a$ پر منحنی $y = \frac{1}{x}$ کا ڈھلوان تلاش کریں۔

۲۷۱۵ (ب) کس نقطے پر ڈھلوان $-\frac{1}{4}$ کے برابر ہے؟

۲۷۱۶ (ج) a تبدیل کرنے سے نقطہ $a, \frac{1}{a}$ پر مماس کو کیا ہو گا؟

۲۷۱۷ حل: (ا) یہاں $f(x) = \frac{1}{x}$ ہے اور $\left(a, \frac{1}{a}\right)$ پر ڈھلوان درج ذیل ہو گا۔

$$\begin{aligned} \lim_{h\to 0} \frac{f(a+h) - f(a)}{h} &= \lim_{h\to 0} \frac{\frac{1}{a+h} - \frac{1}{a}}{h} \\ &= \lim_{h\to 0} \frac{1}{h} \frac{a - (a-h)}{a(a+h)} \\ &= \lim_{h\to 0} \frac{-h}{ha(a+h)} \\ &= \lim_{h\to 0} \frac{-1}{a(a+h)} = -\frac{1}{a^2} \end{aligned}$$

۲۷۱۸ دھیان رہے کہ ہمیں اس وقت تک $\lim\limits_{h\to 0}$ بار بار لکھنا پڑا جب تک ہم $h = 0$ پُر کرنے کے قابل نہیں ہوئے۔

۲۷۱۹ (ب) نقطہ $x = a$ پر $y = \frac{1}{x}$ کا ڈھلوان $-\frac{1}{a^2}$ ہے جس کو $-\frac{1}{4}$ کے برابر پُر کرتے ہیں۔

$$-\frac{1}{a^2} = -\frac{1}{4}$$

۲۷۲۰ اس کے حل $a = 2$ اور $a = -2$ ہیں لہٰذا منحنی $y = \frac{1}{x}$ کا دو نقطوں یعنی $\left(2, \frac{1}{2}\right)$ اور $\left(-2, -\frac{1}{2}\right)$ پر ڈھلوان $-\frac{1}{4}$ ہے (شکل
۲۷۲۱ ۲.۷۵-ا)۔

۲۷۲۲ (ج) ڈھلوان $-\frac{1}{a^2}$ ہر صورت منفی رہے گا۔ یوں $a \to 0^+$ کی صورت میں ڈھلوان $-\infty$ تک پہنچنے کی کوشش کرتا ہے اور مماس انتصابی
۲۷۲۳ صورت اختیار کرنے کی کوشش کرتا ہے۔ یہی کچھ $a \to 0^-$ کرتے ہوئے بھی نظر آتا ہے۔ جیسے جیسے مبدا سے a دور ہٹتا ہے ویسے ویسے مماس افقی
۲۷۲۴ صورت اختیار کرتا ہے (شکل ۲.۷۵-ب)۔ □

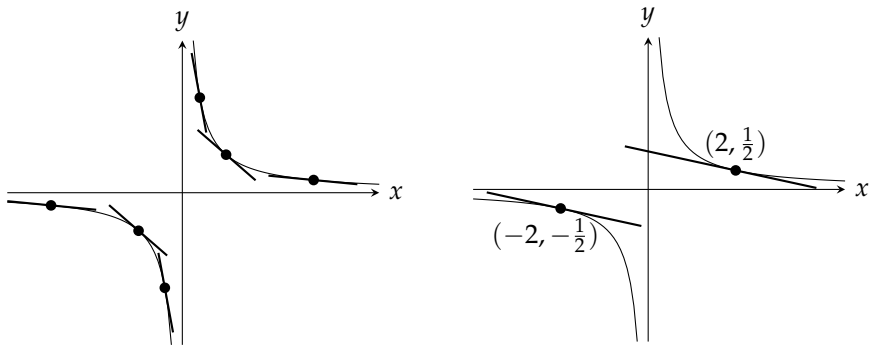

(ا) دو نقطوں پر مماس کا ڈھلوان $-\frac{1}{4}$ ہے۔ (ب) مبدا کے قریب ڈھلوان زیادہ ہے۔

شکل ۲.۷۵: اشکال برائے مثال ۲.۴۱

۲.۷۵ شرح تبدیلی

۲.۷۶ درج ذیل الجبرائی فقرے کو x_0 پر f کا **تفریقی حاصل تقسیم**[۲۶] کہتے ہیں۔ اگر h کو صفر کے نزدیک تر کرنے سے تفریقی حاصل تقسیم کی حد پائی جاتی ہو، اس حد کو x_0 پر f کا **تفرق**[۲۷] کہتے ہیں۔ اگر ہم تفریقی حاصل تقسیم کو سیکنٹ کا ڈھلوان تصور کریں تب تفرق نقطہ x_0 پر منحنی اور مماس کا ڈھلوان دیتا ہے۔ اگر ہم تفریقی حاصل تقسیم کو اوسط تبدیلی شرح تصور کریں (جیسا ہم نے حصہ ۲.۱ میں کیا) تب تفرق نقطہ $x = x_0$ پر تفاعل کی شرح تبدیلی دیتا ہے۔ احصاء میں دو اہم ترین ریاضیاتی تصور میں سے ایک تفرق ہے جس پر باب ۳ میں تفصیلاً غور کیا جائے گا۔

۲.۷۷ مثال ۲.۴۲: لمحاتی رفتار (حصہ ۲.۱ کی مثال ۲.۱ اور مثال ۲.۲)

۲.۷۸ حصہ ۲.۱ کی مثال ۲.۱ اور مثال ۲.۲ میں سطح زمین کے قریب ساکن حالت سے گرتے ہوئے پتھر پر غور کیا گیا۔ ہم جانتے تھے کہ ابتدائی t سیکنڈوں میں پتھر $y = 4.9t^2$ میٹر فاصلہ طے کرتا ہے اور بتدریج کم دورانیوں کے دوران اوسط رفتار سے ہم نے $t = 1$ پر اس کی لمحاتی رفتار معلوم کی۔ ٹھیک $t = 1$ پر لمحاتی رفتار کیا ہو گی؟

۲.۷۹ حل: ہم $f(t) = 4.9t^2$ لیتے ہیں۔ یوں $t = 1$ اور $t = 1 + h$ کے دوران اوسط رفتار

$$\frac{f(t+h) - f(t)}{h} = \frac{4.9(t+h)^2 - 4.9t^2}{h} = \frac{4.9(2th + h^2)}{h} = 4.9(2t + h)$$

۲.۷۸۰ ہو گی۔ ٹھیک لمحہ $t = 1$ پر پتھر کی رفتار درج ذیل ہو گی جو ہمارے پہلے جواب کی تصدیق کرتا ہے۔

$$\lim_{h \to 0} 4.9(2 + h) = 4.9(2 + 0) = 9.8\,\mathrm{m\,s^{-1}}$$

۲.۷۸۱ □

---

[۲۶] differencequotient
[۲۷] derivative

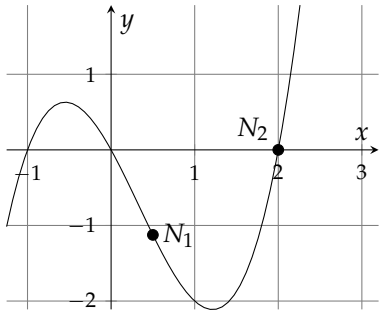

شکل ۲.۷۶: منحنی برائے سوال ۲.۳۰۳

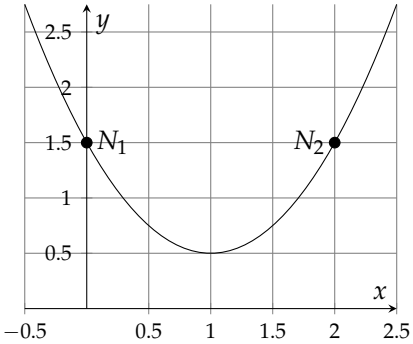

شکل ۲.۷۷: منحنی برائے سوال ۲.۳۰۴

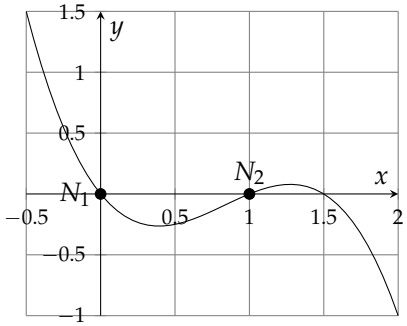

شکل ۲.۷۸: منحنی برائے سوال ۲.۳۰۵

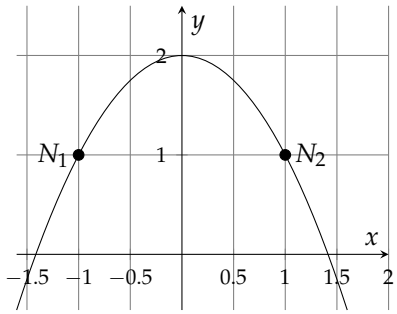

شکل ۲.۷۹: منحنی برائے سوال ۲.۳۰۶

سوالات

سوال ۲.۳۰۳ تا سوال ۲.۳۰۶ میں نقطہ N_1 اور N_2 پر منحنی کے ڈھلوان کی اندازاً قیمت تلاش کریں۔ نقطے پر فیتہ یا کوئی دوسرا سیدھا کنارہ رکھ کر سیکنٹ کی حد سے ڈھلوان حاصل کریں۔ (ترسیم سے عموماً بالکل ٹھیک جواب حاصل نہیں ہوتا لہٰذا آپ کے جواب میں اور دیے گئے جواب میں فرق ہو سکتا ہے۔)

سوال ۲.۳۰۳: شکل ۲.۷۶

سوال ۲.۳۰۴: شکل ۲.۷۷

سوال ۲.۳۰۵: شکل ۲.۷۸

سوال ۲.۳۰۶: شکل ۲.۷۹

سوال ۲.۳۰۷ تا سوال ۲.۳۱۲ میں دیے گئے نقطے پر تفاعل کے مماس کی مساوات حاصل کریں۔ تفاعل اور مماس کو ایک ساتھ ترسیم کریں۔

سوال ۲.۳۰۷: $y = 4 - x^2, \quad (-1, 3)$

سوال ۲.۳۰۸: $y = (x-1)^2 + 1, \quad (1,1)$

سوال ۲.۳۰۹: $y = 2\sqrt{x}, \quad (1,2)$

سوال ۲.۳۱۰: $y = \frac{1}{x^2}, \quad (-1,1)$

سوال ۲.۳۱۱: $y = x^3, \quad (-2,-8)$

سوال ۲.۳۱۲: $y = \frac{1}{x^3}, \quad (-2,-\frac{1}{8})$

سوال ۲.۳۱۳ تا سوال ۲.۳۲۰ میں دیے نقطے پر تفاعل کا ڈھلوان تلاش کریں۔ اس نقطے پر تفاعل کے مماس کی مساوات حاصل کریں۔

سوال ۲.۳۱۳: $f(x) = x^2 + 1, \quad (2,5)$

سوال ۲.۳۱۴: $f(x) = x - 2x^2, \quad (1,-1)$

سوال ۲.۳۱۵: $g(x) = \frac{x}{x-2}, \quad (3,3)$

سوال ۲.۳۱۶: $g(x) = \frac{8}{x^2}, \quad (2,2)$

سوال ۲.۳۱۷: $h(t) = t^3, \quad (2,8)$

سوال ۲.۳۱۸: $h(t) = t^3 + 3t, \quad (1,4)$

سوال ۲.۳۱۹: $f(x) = \sqrt{x}, \quad (4,2)$

سوال ۲.۳۲۰: $f(x) = \sqrt{x+1}, \quad (8,3)$

سوال ۲.۳۲۱ تا سوال ۲.۳۲۴ میں دیے گئے نقطے پر ڈھلوان تلاش کریں۔

سوال ۲.۳۲۱: $y = 5x^2, \quad x = -1$

سوال ۲.۳۲۲: $y = 1 - x^2, \quad x = 2$

سوال ۲.۳۲۳: $y = \frac{1}{x-1}, \quad x = 3$

سوال ۲.۳۲۴: $y = \frac{x-1}{x+1}, \quad x = 0$

مخصوص ڈھلوان کے مماس

سوال ۲.۳۲۵: کس نقطے پر تفاعل $f(x) = x^2 + 4x - 1$ کا مماس افقی ہے؟

سوال ۲.۳۲۶: کس نقطے پر تفاعل $g(x) = x^3 - 3x$ کا مماس افقی ہے؟

سوال ۲.۳۲۷: ان تمام خطوط کی مساوات حاصل کریں جن کا ڈھلوان -1 ہے اور جو تفاعل $y = \frac{1}{x-1}$ کے مماس ہیں۔

سوال ۲.۳۲۸: اس سیدھے خط کی مساوات تلاش کریں جو تفاعل $y = \sqrt{x}$ کا مماس اور جس کا ڈھلوان $\frac{1}{4}$ ہے۔

شرح تبدیلی

سوال ۲.۳۲۹: ایک جسم کو ساکن حالت سے $100\,\mathrm{m}$ بلند عمارت سے گرایا جاتا ہے۔ t سیکنڈ بعد زمین سے اس کا فاصلہ $100 - 4.9t^2$ میٹر ہو گا۔ گرنے کے آغاز سے 2 سیکنڈ بعد اس کی رفتار کیا ہو گی؟

سوال ۲.۳۳۰: اڑان کے t سیکنڈ بعد ایک مزائل $3t^2$ میٹر بلندی پر ہے۔ 10 سیکنڈ بعد اس کی رفتار کیا ہو گی؟

سوال ۲.۳۳۱: ایک دائرے کے رقبہ $A = \pi r^2$ کی رداس r کے لحاظ سے شرح تبدیل $r = 3$ پر کیا ہو گی؟

سوال ۲.۳۳۲: ایک گیند کے حجم $H = \frac{4}{3}\pi r^3$ کی رداس r کے لحاظ سے شرح تبدیلی $r = 2$ پر کیا ہو گی؟

مماس کے لئے پرکھ

سوال ۲.۳۳۳: کیا مبدا پر درج ذیل تفاعل کا مماس پایا جاتا ہے؟ اپنے جواب کی وجہ پیش کریں۔

$$f(x) = \begin{cases} x^2 \sin \frac{1}{x}, & x \neq 0 \\ 0, & x = 0 \end{cases}$$

سوال ۲.۳۳۴: کیا مبدا پر درج ذیل تفاعل کا مماس پایا جاتا ہے؟ اپنے جواب کی وجہ پیش کریں۔

$$f(x) = \begin{cases} x \sin \frac{1}{x}, & x \neq 0 \\ 0, & x = 0 \end{cases}$$

انتصابی مماس

اگر $\lim_{h\to 0} \frac{f(x_0+h)-f(x_0)}{h} = \infty$ یا $-\infty$ ہو تب ہم کہتے ہیں کہ نقطہ $x = x_0$ پر تفاعل $y = f(x)$ کا مماس انتصابی ہے۔

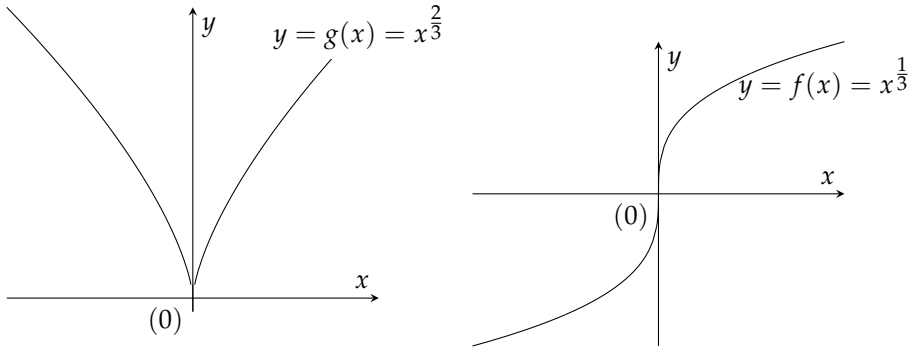

(ب) مبدا پر انتصابی مماس نہیں پایا جاتا ہے۔ (ا) مبدا پر انتصابی مماس پایا جاتا ہے۔

شکل ۲.۸۰: انتصابی مماس

۲۷۹۸ نقطہ $x = 0$ پر تفاعل $y = f(x) = x^{\frac{1}{3}}$ کا مماس درج ذیل ہو گا (شکل ۲.۸۰-ا)۔

$$\lim_{h\to 0} \frac{f(0+h) - f(0)}{h} = \lim_{h\to 0} \frac{h^{\frac{1}{3}} - 0}{h} = \lim_{h\to 0} \frac{1}{h^{\frac{2}{3}}} = \infty$$

۲۷۹۹ آئیں اب مبدا پر تفاعل $y = g(x) = x^{\frac{2}{3}}$ (شکل ۲.۸۰-ب) کا مماس حاصل کرتے ہیں۔

$$\lim_{h\to 0} \frac{g(0+h) - g(0)}{h} = \lim_{h\to 0} \frac{h^{\frac{2}{3}} - 0}{h} = \lim_{h\to 0} \frac{1}{h^{\frac{1}{3}}}$$

۲۸۰۰ اب چونکہ مبدا تک دائیں سے پہنچنے سے حد ∞ جبکہ مبدا تک بائیں سے پہنچنے سے حد $-\infty$ حاصل ہوتا ہے لہٰذا مبدا پر درج بالا حد نہیں پایا جاتا۔

۲۸۰۱ سوال ۲.۳۳۵: کیا درج ذیل تفاعل کا مبدا پر انتصابی مماس پایا جاتا ہے؟ اپنے جواب کی وجہ پیش کریں۔

$$f(x) = \begin{cases} -1, & x < 0 \\ 0, & x = 0 \\ 1, & x > 0 \end{cases}$$

۲۸۰۲ سوال ۲.۳۳۶: کیا درج ذیل تفاعل کا نقطہ $(0, 1)$ پر انتصابی مماس پایا جاتا ہے؟ اپنے جواب کی وجہ پیش کریں۔

$$f(x) = \begin{cases} 0, & x < 0 \\ 1, & x \geq 0 \end{cases}$$

کمپیوٹر کا استعمال۔ انتصابی مماس

سوال ۲.۳۳۷ تا سوال ۲.۳۴۶ میں دیا گیا تفاعل کمپیوٹر کی مدد سے ترسیم کریں۔ ترسیم کا مماس کہاں انتصابی نظر آتا ہے؟ حساب سے انتصابی مماس کی تصدیق کریں۔

سوال ۲.۳۳۷: $y = x^{\frac{2}{5}}$

سوال ۲.۳۳۸: $y = x^{\frac{4}{5}}$

سوال ۲.۳۳۹: $y = x^{\frac{1}{5}}$

سوال ۲.۳۴۰: $y = x^{\frac{3}{5}}$

سوال ۲.۳۴۱: $y = 4x^{\frac{2}{5}} - 2x$

سوال ۲.۳۴۲: $y = x^{\frac{5}{3}} - 5x^{\frac{2}{3}}$

سوال ۲.۳۴۳: $y = x^{\frac{2}{3}} - (x-1)^{\frac{1}{3}}$

سوال ۲.۳۴۴: $y = x^{\frac{1}{3}} + (x-1)^{\frac{1}{3}}$

سوال ۲.۳۴۵: $y = \begin{cases} -\sqrt{|x|}, & x \le 0 \\ \sqrt{x}, & x > 0 \end{cases}$

سوال ۲.۳۴۶: $y = \sqrt{|4-x|}$

کمپیوٹر کا استعمال

سوال ۲.۳۴۷ تا سوال ۲.۳۵۰ میں کمپیوٹر استعمال کرتے ہوئے درج ذیل اقدام کریں۔

ا. وقفہ $x_0 - \frac{1}{2} \le x \le x_0 + 3$ پر تفاعل $y = f(x)$ ترسیم کریں۔

ب. نقطہ x_0 پر تفریقی حاصل تقسیم q کو قدم h کی صورت میں لکھیں۔

ج. $h \to 0$ کرتے ہوئے q کی حد تلاش کریں۔

د. $h = 3, 2, 1$ کے لئے سیکنٹ خطوط $y = f(x_0) + q(x - x_0)$ متعارف کرتے ہوئے (ا) میں دیے گئے وقفے پر ان سیکنٹ خطوط کو تفاعل f کے ساتھ ترسیم کریں۔

سوال ۲.۳۴۷: $f(x) = x^3 + 2x, \quad x_0 = 0$

سوال ۲.۳۴۸: $f(x) = x + \frac{5}{x}, \quad x_0 = 1$

سوال ۲.۳۴۹: $f(x) = x + \sin 2x, \quad x_0 = \frac{\pi}{2}$

سوال ۲.۳۵۰: $f(x) = \cos x + 4\sin 2x, \quad x_0 = \pi$

۲۸۳۷

۲۸۳۸

باب ۳

تفرق

گزشتہ باب میں ہم نے دیکھا کہ کسی نقطہ پر سیکنٹ کے ڈھلوان کی حد کو اس نقطے پر منحنی کا ڈھلوان کہتے ہیں۔ یہ حد، جو تفرق کہلاتا ہے، تفاعل تبدیل ہونے کی شرح کی ناپ ہے جو احصاء میں اہم ترین تصورات میں سے ایک ہے۔ سائنس، معاشیات اور دیگر شعبوں میں تفرق کثرت سے استعمال ہوتا ہے جہاں سمتی رفتار اور اسراع کے حساب، مشین کی کارکردگی سمجھنے میں، وغیرہ کے لئے اسے بروئے کار لایا جاتا ہے۔ تفرق کو حد سے تلاش کرنا مشکل کام ہے۔ اس باب میں **تفرق کرنے**[1] کے طریقوں پر غور کیا جائے گا۔

۳.۱ تفاعل کا تفرق

گزشتہ باب کے آخر میں ہم نے نقطہ $x = x_0$ پر منحنی $y = f(x)$ کے ڈھلوان m کی درج ذیل تعریف پیش کی۔

$$m = \lim_{h \to 0} \frac{f(x_0 + h) - f(x_0)}{h}$$

اس حد کو، بشرطیکہ یہ موجود ہو، x_0 پر f کا تفرق کہتے ہیں۔ اس حصے میں f کے دائرہ کار میں ہر نقطے پر f کے ڈھلوان پر بطور تفاعل غور کیا جائے گا۔

تعریف: متغیر x کے لحاظ سے تفاعل f کا **تفرق**[2] درج ذیل تفاعل f' ہے، بشرطیکہ یہ حد موجود ہو۔

$$f'(x) = \lim_{h \to 0} \frac{f(x + h) - f(x)}{h}$$

□

---

[1] differentiation
[2] derivative

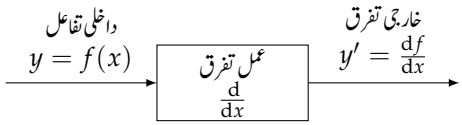

شکل ۱.۳: تفرق کے عمل کی ڈبہ صورت

۲۸۴۰ f' کا دائرہ کار، تفاعل f کے دائرہ کار میں ان نقطوں کا سلسلہ جن پر حد موجود ہو، تفاعل f کے دائرہ کار سے کم ہو سکتا ہے۔ اگر $f'(x)$ موجود ہو، ہم
۲۸۴۱ کہتے ہیں کہ x پر f کا **تفرق** پایا جاتا ہے یا کہ x پر f **قابل تفرق**[۳] ہے۔

۲۸۴۲ **علامتیت**

۲۸۴۳ تفاعل $y = f(x)$ کے تفرق کو ظاہر کرنے کے کئی طریقے رائج ہیں۔ علامت $f'(x)$ کے علاوہ درج ذیل علامتیں کافی مقبول ہیں۔

۲۸۴۴ y' یہ مختصر علامت ہے جو غیر تابع متغیر کی نشاندہی نہیں کرتی۔

۲۸۴۵ $\frac{\mathrm{d}y}{\mathrm{d}x}$ یہ علامت دونوں متغیرات کی نشاندہی کرتی ہے اور تفرق کو d سے ظاہر کرتی ہے۔

۲۸۴۶ $\frac{\mathrm{d}f}{\mathrm{d}x}$ یہ علامت تفاعل کا نام واضح کرتی ہے۔

۲۸۴۷ $\frac{\mathrm{d}}{\mathrm{d}x}f(x)$ اس علامت سے ظاہر ہوتا ہے کہ تفرق کا عمل f پر لاگو کیا جاتا ہے (شکل ۱.۳)۔

۲۸۴۸ $D_x f$ یہ تفرقی عامل ہے۔

۲۸۴۹ $\dot{y}$ نیوٹن اس علامت کو استعمال کرتے تھے جو اب زمانی تفرق کو ظاہر کرنے کے لئے استعمال کیا جاتا ہے۔

۲۸۵۰ ہم $\frac{\mathrm{d}y}{\mathrm{d}x}$ کو "x کے لحاظ سے y کا تفرق" پڑھتے ہیں۔ اسی طرح $\frac{\mathrm{d}f}{\mathrm{d}x}$ اور $\frac{\mathrm{d}}{\mathrm{d}x}f(x)$ کو "x کے لحاظ سے f کا تفرق" پڑھا جاتا ہے۔

۲۸۵۱ تفرق کی تعریف سے تفرق کا حصول

۲۸۵۲ تفرق کی تعریف سے تفرق درج ذیل اقدام سے حاصل ہو گا۔

۲۸۵۳ ۱. $f(x)$ اور $f(x+h)$ لکھیں۔

۲۸۵۴ ۲. درج ذیل تفریقی حاصل تقسیم کو پھیلا کر اس کی سادہ ترین صورت حاصل کریں۔

$$\frac{f(x+h) - f(x)}{h}$$

---

[۳] differentiable

۲۸۵۵ ۳. سادہ ترین حاصل تقسیم سے $f'(x)$ حاصل کرنے کی خاطر درج ذیل حد تلاش کریں۔

$$f'(x) = \lim_{h\to 0} \frac{f(x+h) - f(x)}{h}$$

۲۸۵۶ حصہ ۲.۶ کی مثال ۲.۴۰ اور مثال ۲.۴۱ میں تفاعل $y = mx + b$ اور $y = \frac{1}{x}$ کے تفرق کو تعریف سے حاصل کرنا دکھایا گیا۔ مثال ۲.۴۰ میں

$$\frac{\mathrm{d}}{\mathrm{d}x}(mx+b) = m$$

۲۸۵۷ حاصل کیا گیا، یعنی

$$\frac{\mathrm{d}}{\mathrm{d}x}\left(\frac{3}{7}x - \frac{5}{9}\right) = \frac{3}{7}$$

۲۸۵۸ ہو گا اور مثال ۲.۴۱ میں

$$\frac{\mathrm{d}}{\mathrm{d}x}\left(\frac{1}{x}\right) = -\frac{1}{x^2} \qquad (ا)$$

۲۸۵۹ حاصل کیا گیا۔

۲۸۶۰ مزید دو مثال درج ذیل ہیں۔

۲۸۶۱ مثال ۱.۳:

۲۸۶۲ ا. $f(x) = \frac{x}{x-1}$ کو تفرق کریں۔

۲۸۶۳ ب. تفاعل $y = f(x)$ کا ڈھلوان کس نقطے پر -1 کے برابر ہے؟

۲۸۶۴ حل: (ا) ہم مذکورہ بالا تین اقدام استعمال کرتے ہوئے تعریف سے تفرق حاصل کرتے ہیں۔

۲۸۶۵ **پہلا قدم:** یہاں $f(x) = \frac{x}{x-1}$ ہے جس سے $f(x+h) = \frac{x+h}{(x+h)-1}$ لکھا جا سکتا ہے۔

۲۸۶۶ **دوسرا قدم:**

$$\begin{aligned}
\frac{f(x+h) - f(x)}{h} &= \frac{\frac{x+h}{x+h-1} - \frac{x}{x-1}}{h} \\
&= \frac{1}{h} \cdot \frac{(x+h)(x-1) - x(x+h-1)}{(x+h-1)(x-1)} \\
&= \frac{1}{h} \cdot \frac{-h}{(x+h-1)(x-1)}
\end{aligned}$$

۲۸۶۷ **تیسرا قدم:**

$$f'(x) = \lim_{h\to 0} \frac{-1}{(x+h-1)(x-)} = -\frac{1}{(x-1)^2}$$

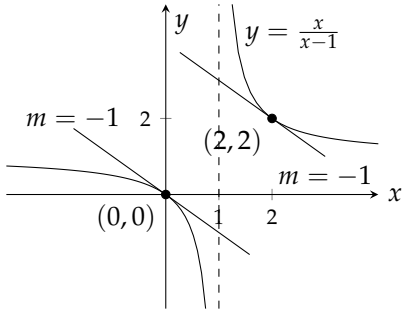

شکل ۳.۲: $x = 0$ اور $x = 2$ پر $y' = -1$ ہوگا (مثال ۳.۱)۔

۲۸۶۸ (ب) $y = f(x)$ کا ڈھلوان اس صورت -1 کے برابر ہوگا جب درج ذیل ہو۔

$$-\frac{1}{(x-1)^2} = -1$$

۲۸۶۹ یہ مساوات $(x-1)^2 = 1$ کے مترادف ہے لہٰذا $x = 2$ اور $x = 0$ درکار نتائج ہیں (شکل ۳.۲)۔ □

۲۸۷۰ مثال ۳.۲:

۲۸۷۱ ۱. $x > 0$ کے لئے $y = \sqrt{x}$ کا تفرق حاصل کریں۔

۲۸۷۲ ۲. $x = 4$ پر تفاعل $y = \sqrt{x}$ کے مماس کی مساوات حاصل کریں۔

۲۸۷۳ حل: (ا) **پہلا قدم:**

$$f(x) = \sqrt{x}, \quad f(x+h) = \sqrt{x+h}$$

۲۸۷۴ **دوسرا قدم:**

$$\begin{aligned}\frac{f(x+h)-f(h)}{h} &= \frac{\sqrt{x+h}-\sqrt{x}}{h} \qquad \text{سے ضرب دیتے ہیں } \frac{\sqrt{x+h}+\sqrt{x}}{\sqrt{x+h}+\sqrt{x}}\\ &= \frac{(x+h)-x}{h(\sqrt{x+h}+\sqrt{x})}\\ &= \frac{1}{\sqrt{x+h}+\sqrt{x}}\end{aligned}$$

۲۸۷۵ **تیسرا قدم:**

$$f'(x) = \lim_{h\to 0}\frac{1}{\sqrt{x+h}+\sqrt{x}} = \frac{1}{2\sqrt{x}}$$

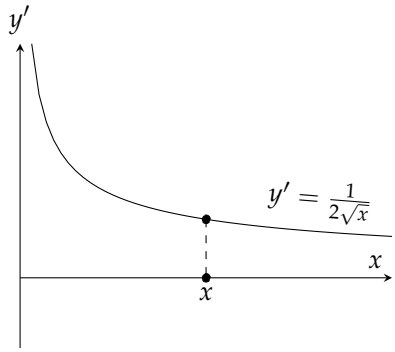

(ب) $x > 0$ کے لئے $y' = \frac{1}{2\sqrt{x}}$

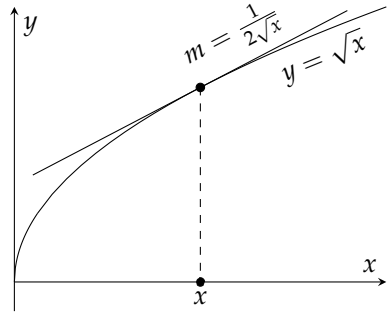

(ا) تفاعل $y = \sqrt{x}$

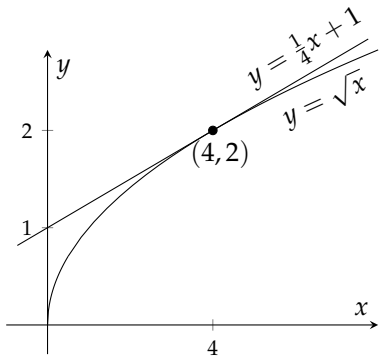

(ج) تفاعل $y = \sqrt{x}$ اور نقطہ $(4, 2)$ پر اس کا مماس $y = \frac{1}{4}x + 1$ ۔

شکل ۳.۳: اشکال برائے مثال ۲.۳۔ نقطہ $x = 0$ پر تفاعل معین ہے لیکن اس کا تفرق غیر معین ہے۔

۲۸۷۶ شکل ۳.۳ دیکھیں۔

۲۸۷۷ (ب) $x = 4$ پر تفاعل کا ڈھلوان درج ذیل ہے۔

$$\frac{\mathrm{d}y}{\mathrm{d}x}|_{x=4} = \frac{1}{2\sqrt{x}}|_{x=4} = \frac{1}{4}$$

۲۸۷۸ نقطہ $(4, 2)$ سے گزرتا ہوا خط جس کا ڈھلوان $\frac{1}{4}$ ہو $(4, 2)$ پر f کا مماس ہو گا۔ مماس کی مساوات حاصل کرتے ہیں۔

$$y = 2 + \frac{1}{4}(x - 4) = \frac{1}{4}x + 1$$

۲۸۷۹ □

نقطہ $x = a$ پر تفاعل $y = f(x)$ کے تفرق کی قیمت حاصل کرنے کو

$$f'(a) = \lim_{h\to 0} \frac{f(a+h) - f(a)}{h}$$

کے علاوہ

$$y'\Big|_{x=a} = \frac{\mathrm{d}y}{\mathrm{d}x}\Big|_{x=a} = \frac{\mathrm{d}}{\mathrm{d}x} f(x)\Big|_{x=a}$$

سے بھی ظاہر کیا جا سکتا ہے جہاں علامت $|_{x=a}$ کے بائیں جانب لکھے تفاعل کی قیمت $x = a$ پر حاصل کی جاتی ہے۔

اندازاً حاصل قیمتوں سے f' کی ترسیم

تفاعل $y = f(x)$ کی تجربہ سے حاصل قیمتوں (مثلاً دباو بالمقابل وقت یا آبادی بالمقابل وقت) کو ہم بطور نقطے ترسیم کرنے کے بعد عموماً سیدھے خطوط یا ہموار منحنی سے جوڑتے ہیں تاکہ ہمیں f کی شکل و صورت نظر آئے۔ اس منحنی کی تخمینی ڈھلوان سے ہم عموماً f' کی قابل قبول ترسیم حاصل کر پاتے ہیں۔ درج ذیل مثال میں یہ عمل دکھایا گیا ہے۔

مثال ۳.۳: دوا

۲۳ اپریل ۱۹۸۸ کو 31 کلو گرام وزنی، ڈیڈلس[۴] نامی جہاز کو انسانی جسمانی طاقت سے یونان کے جنوب مشرق میں جزیرہ کریتی[۵] سے جزیرہ سانٹورینی[۶] تک اڑا کر 115.11 کلو میٹر کا فاصلہ 3 گھنٹوں اور 54 منٹوں میں طے کرتے ہوئے عالمی کارنامہ سرانجام دیا گیا۔ یہ جہاز امریکی یونیورسٹی[۷] کے طلبہ نے تیار کیا۔ اس تاریخی پرواز کی تیاری کے لئے ممکنہ ہوا بازوں کی جسمانی برداشت کو 6 گھنٹوں تک پرکھا جاتا تھا جس دوران ماہرین ہوا بازوں کی کثافت دموی شکر پر نظر رکھتے تھے۔ ان میں سے ایک ہوا باز کی کثافت دموی شکر (ملی گرام فی ڈیسی لٹر) بالمقابل وقت (گھنٹوں) کو شکل ۳.۴-ا میں دکھایا گیا ہے۔

مواد ی نقطوں کو لکیری قطعوں سے جوڑ کر ترسیم حاصل کی گئی۔ ہر لکیری قطعہ کے غیر متغیر ڈھلوان سے قطعہ پر کثافت دموی شکر کے تفرق کا اندازہ کیا جا سکتا ہے۔ تمام قطعات پر تفرق حاصل کر کے شکل ۳.۴-ب میں ترسیم کیا گیا ہے۔ مثال کے طور پر پہلے گھنٹہ میں کثافت دموی شکر $79\,\mathrm{mg\,dL^{-1}}$ سے بڑھ کر $83\,\mathrm{mg\,dL^{-1}}$ ہو جاتی ہے۔ یوں تبدیلی $\Delta y = 93 - 79 = 14\,\mathrm{mg\,dL^{-1}}$ ہے جس کو $\Delta x = 1\,\mathrm{h}$ سے تقسیم کر کے پہلے گھنٹہ میں کثافت کی شرح تبدیلی

$$\frac{\Delta y}{\Delta x} = \frac{14}{1} = \frac{14\,\mathrm{mg\,dL^{-1}}}{\mathrm{h}}$$

حاصل ہوتی ہے۔

دھیان رہے کہ لمحات $t = 1, 2, \cdots, 5$ پر، جہاں ترسیم کے کونے ہیں لہٰذا ڈھلوان حاصل نہیں کیا جا سکتا، ہم کثافت کی شرح تبدیلی کا اندازہ نہیں لگا سکتے۔ ان نقطوں پر تفرق سیڑھی تفاعل غیر معین ہے۔ □

---

[۴] Daedalus
[۵] Crete
[۶] Santorini
[۷] MIT

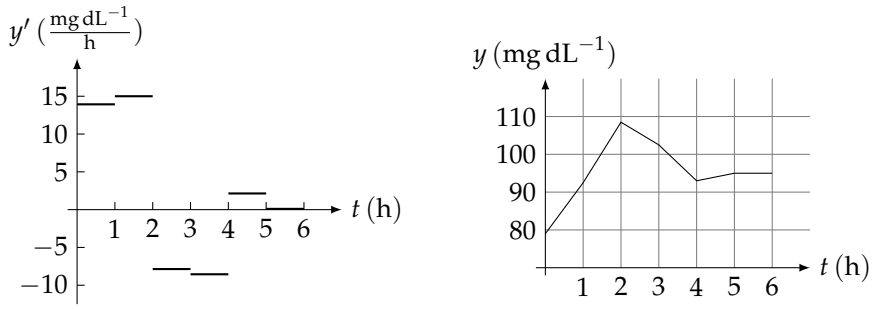

(ب) (ا)

شکل ۳.۴: (ا) قبل پرواز پرکھ برداشت کے دوران دموی شکر (ب) پرکھ کے مختلف حصوں میں دموی شکر کا ڈھلوان نہایت تیزی سے بڑھتا اور گھٹتا ہے۔

جہاں ہمارے پاس اتنی زیادہ تعداد میں نقطے ہوں کہ انہیں قطعات سے جوڑ کر ہموار منحنی حاصل ہوتی ہو وہاں ہم تفرق کو بھی ہموار خط سے ظاہر کرنا چاہیں گے۔ اگلی مثال میں یہی کیا گیا ہے۔

مثال ۳.۴: تفاعل $y = f(x)$ کو شکل ۳.۵-ا میں دکھایا گیا ہے۔ اس کے تفرق $y' = f'(x)$ کو ترسیم کریں۔

حل: شکل ۳.۵-ا کی ترسیم پر مختلف نقطوں مثلاً A, B, C, D, E پر منحنی کے ڈھلوان جیومیٹریائی طریقے سے حاصل کرتے ہیں۔ شکل-ا کو صرف دیکھنے سے ہی وہ خطے نظر آتے ہیں جہاں ڈھلوان مثبت، منفی اور صفر ہے۔ A سے D تک ڈھلوان منفی جبکہ D کی دائیں جانب اور A کی بائیں جانب ڈھلوان مثبت ہے۔ اسی طرح وہ خطے بھی واضح ہیں جہاں ڈھلوان بڑھ یا گھٹ رہا ہے۔ نقطہ A اور D پر سیکنٹ کی حد کے ڈھلوان 0 ہیں جو شکل ۳.۵-ب کے مطابق نقطے A' اور D' دیتے ہیں جہاں $y' = 0$ ہے۔ نقطہ E پر سیکنٹ کا ڈھلوان حاصل کرنے کی خاطر قائمہ مثلث مکمل کیا گیا ہے جہاں سے $\Delta x = 1$ اور $\Delta y = 20$ پڑھے جا سکتے ہیں جن سے $\frac{\Delta y}{\Delta x} = 20$ حاصل ہوتا ہے۔ شکل-ب میں اس کو نقطہ E' دکھایا گیا ہے۔ آپ شکل-ا میں نقطہ B پر بھی مثلث بنا کر ڈھلوان حاصل کر سکتے ہیں جو -10 ہو گا جس کو شکل-ب میں B' دکھایا گیا ہے۔ شکل-ا میں نقطہ C وہ نقطہ ہے جس پر ڈھلوان کی کم تر قیمت حاصل ہوتی ہے جس سے شکل-ب کا نشیب C' حاصل ہوتا ہے۔ □

وقفے پر قابل تفرق؛ یک طرفہ تفرق

کھلے (متناہی یا لا متناہی) وقفہ پر تفاعل $y = f(x)$ اس صورت قابل تفرق ہو گا جب اس وقفے کے ہر نقطے پر f قابل تفرق ہو۔ یہ بند وقفہ $[a, b]$ پر اس صورت قابل تفرق ہو گا جب اس وقفے کے ہر اندرونی نقطے پر f قابل تفرق ہو اور درج ذیل تفرق موجود ہوں (شکل ۳.۶)۔

a پر دائیں ہاتھ تفرق
$$\lim_{h\to 0^+} \frac{f(a+h)-f(a)}{h}$$

b پر بائیں ہاتھ تفرق
$$\lim_{h\to 0^-} \frac{f(b+h)-f(b)}{h}$$

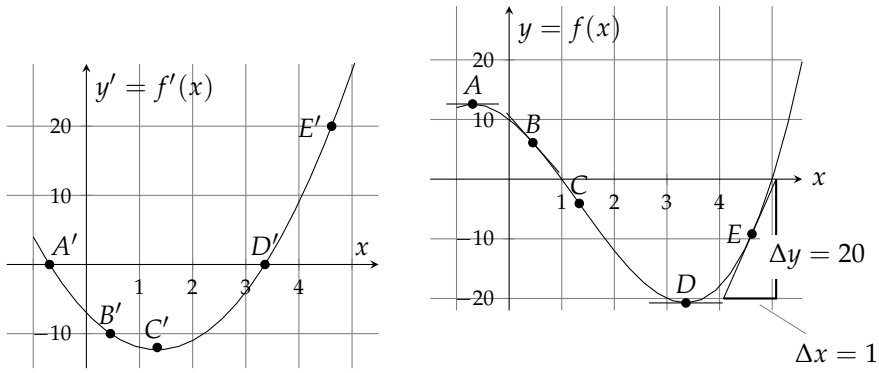

(ا) دیا گیا تفاعل $y = f(x)$

(ب) دیے گئے تفاعل کا تفرق $y' = f'(x)$

شکل ۳.۵: اشکال برائے مثال ۳.۵

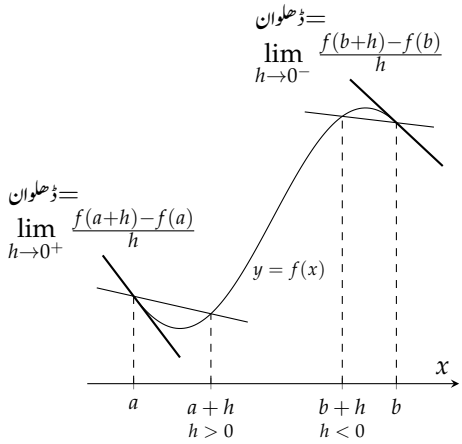

شکل ۳.۶: وقفہ کے آخری سر نقطوں پر تفرق یک طرفہ ہوں گے۔

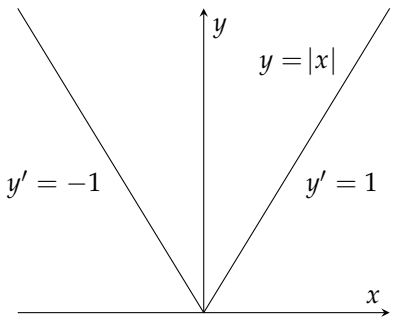

شکل ۳.۷: چونکہ مبدا پر بائیں ہاتھ اور دائیں ہاتھ تفرق مختلف ہیں لہذا مبدا پر تفاعل کا تفرق غیر موجود ہے (مثال ۳.۵)۔

تفاعل کے دائرہ کار میں کہیں پر بھی تفاعل کے دائیں ہاتھ اور بائیں ہاتھ تفرق معین ہو سکتے ہیں۔ یک طرفہ اور دو طرفہ حد کا تعلق ان تفرق پر بھی قابل اطلاق ہو گا۔ مسئلہ ۲.۵ کی وجہ سے کسی نقطے پر تفاعل کا تفرق صرف اور صرف اس صورت موجود ہو گا جب اس نقطے پر تفاعل کے بائیں ہاتھ تفرق اور دائیں ہاتھ تفرق موجود اور ایک دوسرے کے برابر ہوں۔

مثال ۳.۵: تفاعل $y = |x|$ وقفہ $(-\infty, 0)$ اور $(0, \infty)$ پر قابل تفرق ہے لیکن $x = 0$ پر اس کا تفرق موجود نہیں۔ مبدا کی دائیں جانب

$$\frac{\mathrm{d}}{\mathrm{d}x}(|x|) = \frac{\mathrm{d}}{\mathrm{d}x}(x) = \frac{\mathrm{d}}{\mathrm{d}x}(1 \cdot x) = 1, \qquad \frac{\mathrm{d}}{\mathrm{d}x}(mx + b) = m$$

جبکہ مبدا کی بائیں جانب

$$\frac{\mathrm{d}}{\mathrm{d}x}(|x|) = \frac{\mathrm{d}}{\mathrm{d}x}(-x) = \frac{\mathrm{d}}{\mathrm{d}x}(-1 \cdot x) = -1$$

ہے (شکل ۳.۷)۔ چونکہ مبدا پر تفاعل کا دائیں ہاتھ تفرق اور بائیں ہاتھ تفرق ایک سے نہیں لہٰذا مبدا پر تفاعل کا تفرق نہیں پایا جاتا۔

صفر پر $|x|$ کا دائیں ہاتھ تفرق حاصل کرتے ہیں۔

$$\begin{aligned}\lim_{h\to 0^+} \frac{|0+h|-|0|}{h} &= \lim_{h\to 0^+} \frac{|h|}{h} \qquad \text{اگر } h > 0 \text{ تب } |h| = h \text{ ہو گا}\\ &= \lim_{h\to 0^+} \frac{h}{h} = \lim_{h\to 0^+} 1 = 1\end{aligned}$$

صفر پر $|x|$ کا بائیں ہاتھ تفرق حاصل کرتے ہیں۔

$$\begin{aligned}\lim_{h\to 0^-} \frac{|0+h|-|0|}{h} &= \lim_{h\to 0^-} \frac{|h|}{h} \qquad \text{اگر } h < 0 \text{ تب } |h| = -h \text{ ہو گا}\\ &= \lim_{h\to 0^-} \frac{-h}{h} = \lim_{h\to 0^-} -1 = -1\end{aligned}$$

□

نقطے پر تفاعل کا تفرق کب نہیں پایا جاتا؟

اگر نقطہ $N(x_0, f(x_0))$ اور اس کے قریب نقطہ Q سے گزرتے ہوئے سیکنٹ کا ڈھلوان، Q کو N کے نزدیک تر کرنے سے، تحدیدی قیمت اختیار کرتا ہو تب تفاعل $f(x)$ نقطہ N پر قابل تفرق ہو گا۔ اگر Q کو N کے نزدیک تر کرنے سے سیکنٹ کا ڈھلوان تحدیدی قیمت اختیار نہ کرتا ہو یا یہ سیکنٹ انتصابی تحدیدی صورت اختیار کرتا ہو، تب اس تفاعل کا N پر تفرق نہیں پایا جائے گا۔ ہموار منحنی والے تفاعل کا درج ذیل صورتوں میں نقطہ N پر تفرق نہیں پایا جائے گا۔

۱. نوکدار منحنی۔ منحنی کی نوک پر بایاں تفرق اور دایاں تفرق ایک سے نہیں ہوتے (شکل ۳.۸-ا)۔

۲. راس، جہاں NQ کا تحدیدی ڈھلوان ایک طرف سے ∞ اور دوسری طرف سے $-\infty$ ہوتا ہے (شکل ۳.۸-ب)۔

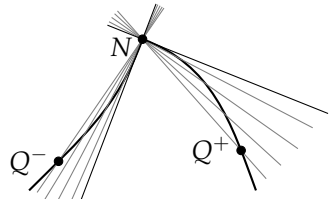

(ا) نوک پر بائیں اور دائیں تفرق ایک دوسرے سے مختلف ہوتے ہیں۔

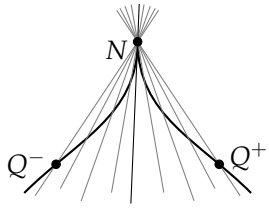

(ب) راس پر ایک طرف سے ڈھلوان ∞ جبکہ دوسری طرف سے $-\infty$ ہوتا ہے۔

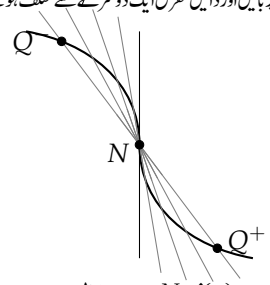

(ج) نقطہ N پر مماس انتصابی ہے۔

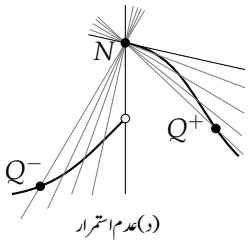

(د) عدم استمرار

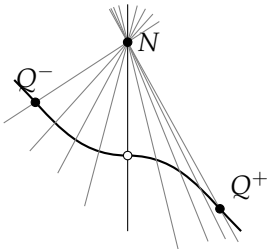

(ھ) عدم استمرار

شکل ۳.۸: ان نقطوں کی پہچان جہاں تفاعل ناقابل تفرق ہو گا۔

۲۹۳۰ ۳. انتصابی مماس، جہاں دونوں اطراف سے تحدیدی NQ کا ڈھلوان ∞ یا $-\infty$ ہوتا ہے (شکل ۳.۸-ج)۔

۲۹۳۱ ۴. عدم استمرار (شکل ۳.۸-د اور شکل ۳.۸-ہ)۔

۲۹۳۲ قابل تفرق تفاعل استمراری ہوں گے

۲۹۳۳ جس نقطے پر تفاعل قابل تفرق ہو اس پر تفاعل استمراری ہو گا۔

۲۹۳۴ مسئلہ ۳.۱: اگر $x = c$ پر f کا تفرق موجود ہو تب $x = c$ پر f استمراری ہو گا۔

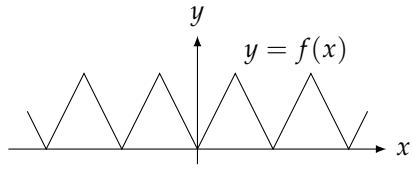

شکل ۹.۳: دندان ترسیم استمراری لیکن لا متناہی نقطوں پر ناقابل تفرق ہے۔

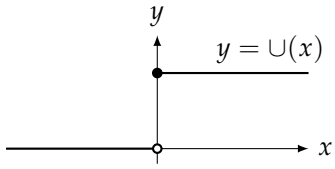

شکل ۱۰.۳: اکائی سیڑھی تفاعل متوسط قیمت خاصیت نہیں رکھتا لہٰذا حقیقی خط پر یہ کسی دوسرے تفاعل کا تفرق نہیں ہو سکتا۔

۲۹۳۵ ثبوت: ہم جانتے ہیں کہ $f'(c)$ موجود ہے اور ہم نے دکھانا ہے کہ $\lim_{x\to c} f(x) = f(c)$ یا اس کا مماثل $\lim_{h\to 0} f(c+h) = f(c)$ ۲۹۳۶ درست ہے۔ اگر $h \neq 0$ ہو تب درج ذیل ہو گا۔

$$\begin{aligned} f(c+h) &= f(c) + (f(c+h) - f(c)) \\ &= f(c) + \frac{f(c+h)-f(c)}{h} \cdot h \end{aligned}$$

۲۹۳۷ اب $h \to 0$ لیں۔ مسئلہ ۱.۲ کے تحت درج ذیل ہو گا۔

$$\begin{aligned} \lim_{h\to 0} f(c+h) &= \lim_{h\to 0} f(c) + \lim_{h\to 0} \frac{f(c+h)-f(c)}{h} \cdot \lim_{h\to 0} h \\ &= f(c) + f'(c)\cdot 0 \\ &= f(c) \end{aligned}$$

۲۹۳۸ □

۲۹۳۹ اسی قسم کی دلیل سے ثابت ہوتا ہے کہ اگر $x = c$ پر f کا یک طرفہ (بایاں یا دایاں) تفرق پایا جاتا ہو تب $x = c$ پر f اسی طرف (بائیں یا دائیں)
۲۹۴۰ سے استمراری ہو گا۔

۲۹۴۱ **انتباہ:** مسئلہ ۱.۳ کا الٹ درست نہیں یعنی جس نقطے پر تفاعل استمراری ہو اس پر تفاعل ناقابل تفرق ہو سکتا ہے جیسا ہم نے مثال ۵.۳ میں دیکھا۔

۲۹۴۲ **استمراری تفاعل کی ترسیم کتنی غیر ہموار ہو سکتی ہے؟** ہم نے دیکھا کہ مطلق قیمت تفاعل $y = |x|$ ایک نقطہ پر ناقابل تفرق ہوتا ہے۔ یوں ہم
۲۹۴۳ استمراری دندان ترسیم (شکل ۹.۳) بنا سکتے ہیں جو لا متناہی تعداد کے نقطوں پر ناقابل تفرق ہو گی۔

۲۹۴۴ **کیا استمراری تفاعل ہر نقطے پر ناقابل تفرق ہو سکتا ہے؟** اس کا جواب ہے "جی ہاں"، جیسے کارل وائنسٹراس[۸] نے ۱۸۷۲ میں درج ذیل کلیہ (اور کئی
۲۹۴۵ اور) پیش کرتے ہوئے ثابت کیا۔

$$f(x) = \sum_{n=0}^{\infty} \left(\frac{2}{3}\right)^n \cos(9^n \pi x)$$

[۸] [1815-1897] وائنسٹراس کارل دان ریاضی جرمن

یہ کلیہ f کو بڑھتے تعدد کے کوسائن تفاعل کے مجموعے کی صورت میں پیش کرتا ہے۔ بل کو بل دینے سے ایسا تفاعل حاصل ہوتا ہے جس کا تحدیدی سیکنٹ کسی بھی نقطے پر حاصل کرنا ممکن نہیں ہوتا لہٰذا اس کا مماس کہیں پر بھی نہیں پایا جاتا۔

استمراری تفاعل جن کا کسی بھی نقطے پر مماس نہ پایا جاتا ہو نظریہ ابتری[9] میں کلیدی کردار ادا کرتے ہیں۔ ایسے تفاعل کو متناہی لمبائی مختص کرنی ممکن نہیں ہوتا۔ ہم منحنی کی لمبائی اور تفرق کے تعلق پر بعد میں غور کریں گے۔

تفرق کی متوسط قیمت خاصیت

ضروری نہیں ایک تفاعل دوسرے کا تفرقی تفاعل ہو۔ درج ذیل مسئلہ سے یہ حقیقت اخذ کی جا سکتی ہے۔

مسئلہ ۳.۲: اگر نقطہ a اور b اس وقفہ میں پائے جاتے ہوں جس پر f قابل تفرق ہو تب $f'(a)$ اور $f'(b)$ کے بیچ ہر قیمت کا تفرق f' پایا جائے گا۔

مسئلہ ۳.۲ (جس کا ثبوت ہم پیش نہیں کریں گے) کہتا ہے کہ کسی وقفے پر ایک تفاعل اس صورت تک کسی دوسرے تفاعل کا تفرق نہیں ہو گا جب تک اس وقفے پر یہ متوسط قیمت خاصیت نہ رکھتا ہو (شکل ۳.۱۰)۔ ایک تفاعل کب کسی دوسرے تفاعل کا تفرق ہو گا؟ یہ احصاء کے اہم ترین سوالات میں سے ایک ہے جس کا جواب نیوٹن اور لیبنٹز نے دے کر ریاضیات میں انقلاب برپا کیا۔ ان کے جواب کو ہم باب ۵ میں دیکھیں گے۔

سوالات

تفرقی تفاعل اور قیمتوں کی تلاش

سوال ۳.۱ تا سوال ۳.۶ میں تفرق کی تعریف استعمال کرتے ہوئے دیے گئے تفاعل کے تفرق کی قیمت تلاش کریں۔

سوال ۳.۱: $f(x) = 4 - x^2; \quad f'(-3), f'(0), f'(1)$

سوال ۳.۲: $F(x) = (x-1)^2 + 1; \quad F'(-1), F'(0), F'(2)$

سوال ۳.۳: $g(t) = \frac{1}{t^2}; \quad g'(-1), g'(2), g'(\sqrt{3})$

سوال ۳.۴: $k(z) = \frac{1-z}{2z}; \quad k'(-1), k'(1), k'(\sqrt{2})$

سوال ۳.۵: $p(\theta) = \sqrt{3\theta}; \quad p'(1), p'(3), p'(\frac{2}{3})$

سوال ۳.۶: $r(s) = \sqrt{2s+1}; \quad r'(0), r'(1), r'(\frac{1}{2})$

سوال ۳.۷ تا سوال ۳.۱۲ میں دیا گیا تفرق حاصل کریں۔

سوال ۳.۷: $y = 2x^3; \quad \frac{dy}{dx}$

سوال ۳.۸: $r = \frac{s^3}{2} + 1; \quad \frac{dr}{ds}$

سوال ۳.۹: $s = \frac{t}{2t+1}; \quad \frac{ds}{dt}$

[9] chaostheory

سوال ۳.۱۰: $v = t - \frac{1}{t}; \quad \frac{dv}{dt}$

سوال ۳.۱۱: $p = \frac{1}{\sqrt{q+1}}; \quad \frac{dp}{dq}$

سوال ۳.۱۲: $z = \frac{1}{\sqrt{3w-2}}; \quad \frac{dz}{dw}$

ڈھلوان اور مماسی خطوط

سوال ۳.۱۳ تا سوال ۳.۱۶ میں تفاعل کا تفرق حاصل کرتے ہوئے دیے گئے غیر تابع متغیر پر مماس کا ڈھلوان تلاش کریں۔

سوال ۳.۱۳: $f(x) = x + \frac{9}{x}; \quad x = -3$

سوال ۳.۱۴: $k(x) = \frac{1}{2+x}; \quad x = 2$

سوال ۳.۱۵: $s = t^3 - t^2; \quad t = -1$

سوال ۳.۱۶: $y = (x+1)^3; \quad x = -2$

سوال ۳.۱۷ تا سوال ۳.۱۸ میں تفاعل کا تفرق حاصل کریں۔ ترسیم پر دیے گئے نقطے پہ تفاعل کے مماس کی مساوات تلاش کریں۔

سوال ۳.۱۷: $f(x) = \frac{8}{\sqrt{x-2}}; \quad (x, y) = (6, 4)$

سوال ۳.۱۸: $g(z) = 1 + \sqrt{4-z}; \quad (z, w) = (3, 2)$

سوال ۳.۱۹ تا سوال ۳.۲۲ میں تفرق کی قیمت تلاش کریں۔

سوال ۳.۱۹: $\left.\frac{ds}{dt}\right|_{t=-1}; \quad s = 1 - 3t^2$

سوال ۳.۲۰: $\left.\frac{dy}{dx}\right|_{x=\sqrt{3}}; \quad y = 1 - \frac{1}{x}$

سوال ۳.۲۱: $\left.\frac{dr}{d\theta}\right|_{\theta=0}; \quad r = \frac{2}{\sqrt{4-\theta}}$

سوال ۳.۲۲: $\left.\frac{dw}{dz}\right|_{z=4}; \quad w = z + \sqrt{z}$

تفرق کے حصول کا متبادل کلیہ

تحدیدی سیکنٹ سے تفرق کا حاصل کلیہ مستعمل نقطوں کے علامتی اظہار پر منحصر ہوتا ہے۔ شکل ۳.۱۱ میں سیکنٹ کا ڈھلوان $\frac{f(x)-f(c)}{x-c}$ ہے جس کی N پر تحدیدی قیمت (Q کو N کے نزدیک تر کرتے ہوئے) N پر تفاعل کا تفرق دیتی ہے۔

$$f'(c) = \lim_{x \to c} \frac{f(x) - f(c)}{x - c} \tag{۲}$$

اس کلیے کا استعمال چند تفرق کا حصول آسان بناتا ہے۔ سوال ۳.۲۳ تا سوال ۳.۲۶ میں اس کلیہ کی مدد سے c پر تفاعل کا تفرق حاصل کریں۔

سوال ۳.۲۳: $f(x) = \frac{1}{x+2}, \quad c = -1$

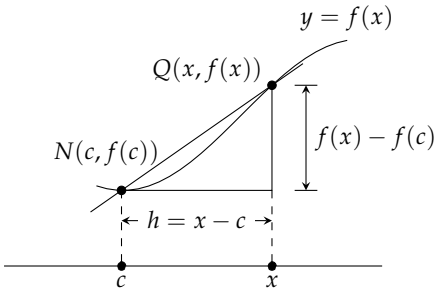

شکل ۳.۱۱: حصول تفرق کا متبادل کلیہ

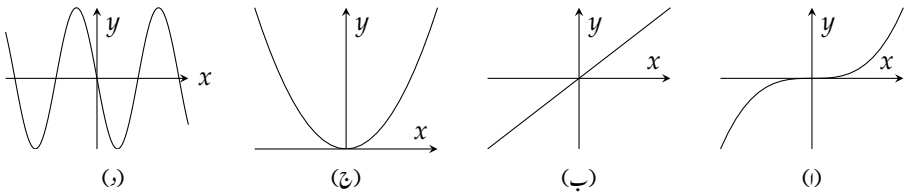

شکل ۳.۱۲: تفاعل کے تفرق

۲۹۹۴ سوال ۳.۲۴: $f(x) = \frac{1}{(x-1)^2}, \quad c = 2$

۲۹۹۵ سوال ۳.۲۵: $g(t) = \frac{t}{t-1}, \quad c = 3$

۲۹۹۶ سوال ۳.۲۶: $k(s) = 1 + \sqrt{s}, \quad c = 9$

۲۹۹۷ **ترسیماتے** سوال ۳.۲۷ تا سوال ۳.۳۰ میں دیے گئے تفاعل کا تفرق شکل ۳.۱۲ میں تلاش کریں۔

۲۹۹۸ سوال ۳.۲۷: شکل ۳.۱۳-ا

۲۹۹۹ سوال ۳.۲۸: شکل ۳.۱۳-ب

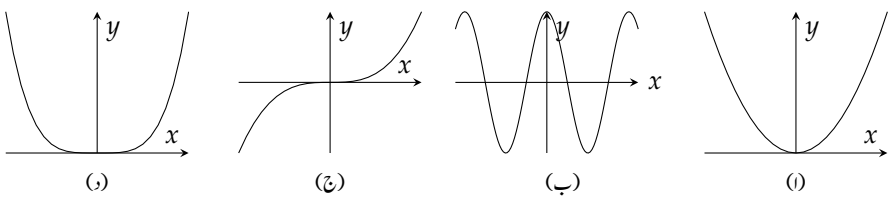

شکل ۳.۱۳: اصل تفاعل

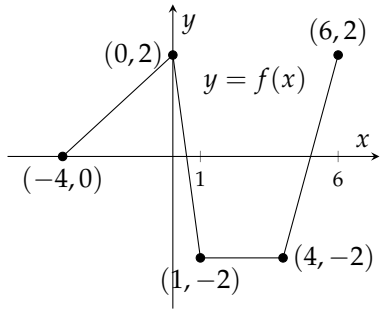

شکل ۳.۱۴: ترسیم برائے سوال ۳.۳۱

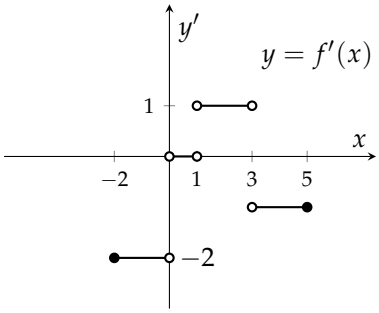

شکل ۳.۱۵: تفاعل کے تفرق کی ترسیم برائے سوال ۳.۳۲

۳۰۰۰ سوال ۳.۲۹: شکل ۳.۱۳-ج

۳۰۰۱ سوال ۳.۳۰: شکل ۳.۱۳-د

۳۰۰۲ سوال ۳.۳۱: قطعات جوڑ کر شکل ۳.۱۴ حاصل کی گئی۔ (ا) وقفہ $[-4,6]$ پر کہاں f' غیر معین ہو گا؟ اپنے جواب کی وجہ پیش کریں۔ (ب) انتصابی
۳۰۰۳ محور کو y' کہتے ہوئے f' ترسیم کریں۔ ترسیم سیڑھی نما ہو گی۔

۳۰۰۴ سوال ۳.۳۲: تفاعل کے تفرق سے اصل تفرق کی وصولی
۳۰۰۵ (ا) درج ذیل طریقے سے تفاعل f کو وقفہ $[-2,5]$ پر ترسیم کریں۔

۳۰۰۶ ۱. بند قطعات کو جوڑ کر ترسیم حاصل کریں۔

۳۰۰۷ ۲. ترسیم کو نقطہ $(-2,3)$ سے شروع کریں۔

۳۰۰۸ ۳. تفاعل کا تفرق شکل ۳.۱۵ میں دکھایا گیا ہے۔

۳۰۰۹ (ب) نقطہ $(-2,0)$ سے شروع کرتے ہوئے جزو (ا) کی ترسیم دوبارہ حاصل کریں۔

۳۰۱۰ سوال ۳.۳۳ تا سوال ۳.۳۶ میں نقطہ N پر بائیں اور دائیں ہاتھ تفرق کا موازنہ کرتے ہوئے دکھائیں کہ اس نقطے پر تفاعل ناقابل تفرق ہے۔

۳۰۱۱ سوال ۳.۳۳: تفاعل کو شکل ۳.۱۶ میں دکھایا گیا ہے۔

۳۰۱۲ سوال ۳.۳۴: تفاعل کو شکل ۳.۱۷ میں دکھایا گیا ہے۔

۳۰۱۳ سوال ۳.۳۵: تفاعل کو شکل ۳.۱۸ میں دکھایا گیا ہے۔

۳۰۱۴ سوال ۳.۳۶: تفاعل کو شکل ۳.۱۹ میں دکھایا گیا ہے۔

۳۰۱۵ سوال ۳.۳۷ تا سوال ۳.۴۲ میں بند دائرہ کار D پر تفاعل کی ترسیم دکھائی گئی ہے۔ کن نقطوں پر تفاعل (ا) قابل تفرق، (ب) استمراری لیکن ناقابل تفرق،
۳۰۱۶ (ج) غیر استمراری اور ناقابل تفرق ہے؟

۳۰۱۷ سوال ۳.۳۷: ترسیم شکل ۳.۲۰ میں دکھائی گئی ہے جبکہ $D : -3 \leq x \leq 2$ ہے۔

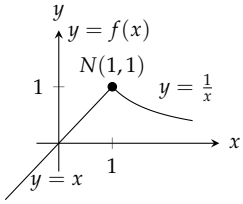

شکل ۳.۱۹

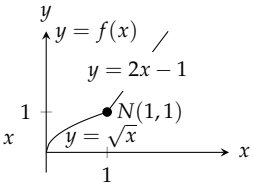

شکل ۳.۱۸

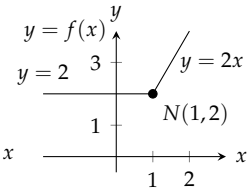

شکل ۳.۱۷

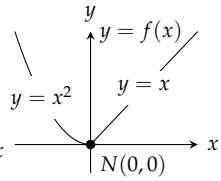

شکل ۳.۱۶

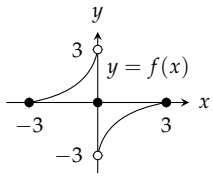

شکل ۳.۲۲

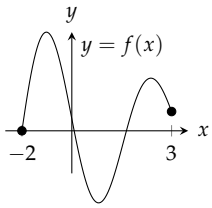

شکل ۳.۲۱

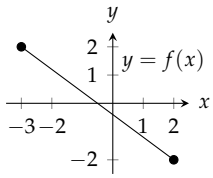

شکل ۳.۲۰

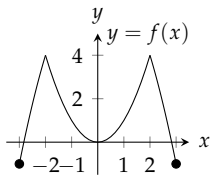

شکل ۳.۲۵

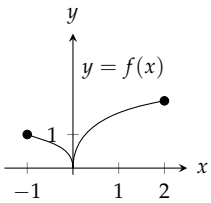

شکل ۳.۲۴

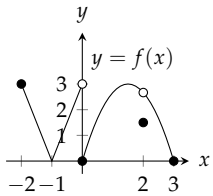

شکل ۳.۲۳

سوال ۳.۳۸: ترسیم شکل ۳.۲۱ میں دکھائی گئی ہے جبکہ $D: -2 \leq x \leq 3$ ہے۔

سوال ۳.۳۹: ترسیم شکل ۳.۲۲ میں دکھائی گئی ہے جبکہ $D: -3 \leq x \leq 3$ ہے۔

سوال ۳.۴۰: ترسیم شکل ۳.۲۳ میں دکھائی گئی ہے جبکہ $D: -2 \leq x \leq 3$ ہے۔

سوال ۳.۴۱: ترسیم شکل ۳.۲۴ میں دکھائی گئی ہے جبکہ $D: -1 \leq x \leq 2$ ہے۔

سوال ۳.۴۲: ترسیم شکل ۳.۲۵ میں دکھائی گئی ہے جبکہ $D: -3 \leq x \leq 3$ ہے۔

سوال ۳.۴۳ تا سوال ۳.۴۶ میں درج ذیل کریں۔

ا. تفاعل $y = f(x)$ کا تفرق $y' = f'(x)$ تلاش کریں۔

ب. $y = f(x)$ اور $y' = f'(x)$ کو علیحدہ محدد پر قریب قریب ترسیم کرتے ہوئے درج ذیل کا جواب دیں۔

ج. x کی کن قیمتوں کے لئے y' کی قیمت مثبت، منفی اور صفر ہے۔

د. x بڑھنے سے x کی قیمتوں کے کن وقفوں پر $y = f(x)$ بڑھتا ہے؟ گھٹتا ہے؟ اس کا جزو (ج) کے جوابات کے ساتھ کیا تعلق ہے؟ (باب ۴ میں اس تعلق پر غور کیا جائے گا۔)

سوال ۳.۴۳: $y = -x^2$

سوال ۳.۴۴: $y = -\frac{1}{x}$

سوال ۳.۴۵: $y = \frac{x^3}{3}$

سوال ۳.۴۶: $y = \frac{x^4}{4}$

سوال ۳.۴۷: کیا $y = x^3$ کا ڈھلوان کبھی منفی ہوگا؟ اگر ہوگا تو کہاں ہوگا؟ اپنے جواب کی وجہ پیش کریں۔

سوال ۳.۴۸: کیا $y = 2\sqrt{x}$ کا افقی مماس پایا جاتا ہے؟ اگر پایا جاتا ہو تو کہاں پایا جاتا ہے۔ اپنے جواب کی وجہ پیش کریں۔

سوال ۳.۴۹: کیا قطع مکافی $y = 2x^2 - 13x + 5$ کے مماس کا ڈھلوان -1 ہو سکتا ہے۔ اگر ممکن ہے تب اس مماس کی مساوات حاصل کریں اور وہ نقطہ تلاش کریں جہاں مماس منحنی کو مس کرتا ہے۔ اگر ممکن نہیں تب اپنے جواب کی وجہ پیش کریں۔

سوال ۳.۵۰: کیا منحنی $y = \sqrt{x}$ کا کوئی مماس x محور کو $x = -1$ پر قطع کرتا ہے؟ ممکن ہونے کی صورت میں نقطہ مماس اور مماس کی مساوات تلاش کریں جبکہ غیر ممکن ہونے کی صورت میں وجہ پیش کریں۔

سوال ۳.۵۱: کیا $(-\infty, \infty)$ پر قابل تفرق تفاعل کا تفرق $y = \lfloor x \rfloor$ ہو سکتا ہے؟ اپنے جواب کی وجہ پیش کریں۔

سوال ۳.۵۲: $f(x) = |x|$ کے تفرق کو ترسیم کرنے کے بعد $y = \frac{|x|-0}{x-0} = \frac{|x|}{x}$ ترسیم کریں۔ ان سے آپ کیا نتیجہ اخذ کر سکتے ہیں؟

سوال ۳.۵۳: یہ جانتے ہوئے کہ $x = x_0$ پر تفاعل $f(x)$ قابل تفرق ہے، آپ $x = x_0$ پر تفاعل $-f$ کے قابل تفرق ہونے کے بارے میں کیا کہہ سکتے ہیں؟ اپنے جواب کی وجہ پیش کریں۔

سوال ۳.۵۴: کیا $t = 7$ پر $g(t)$ کا قابل تفرق ہونے سے آپ $t = 7$ پر $3g$ کے قابل تفرق ہونے کے بارے میں کچھ کہہ سکتے ہیں؟ اپنے جواب کی وجہ پیش کریں۔

سوال ۳.۵۵: فرض کریں کہ t کی تمام قیمتوں کے لئے تفاعل $g(t)$ اور $h(t)$ معین ہیں اور $g(0) = h(0) = 0$ ہے۔ کیا $\lim_{t\to 0} \frac{g(t)}{h(t)}$ موجود ہوگا؟ اگر حد موجود ہو تب کیا یہ حد ضرور صفر کے برابر ہوگا؟ اپنے جواب کی وجہ پیش کریں۔

سوال ۳.۵۶: (ا) فرض کریں کہ $-1 \le x \le 1$ کے لئے تفاعل $f(x)$ شرط $|f(x)| \le x^2$ کو مطمئن کرتا ہے۔ دکھائیں کہ $x = 0$ پر f قابل تفرق ہے اور $f'(0)$ حاصل کریں۔ (ب) دکھائیں کہ $x = 0$ پر

$$f(x) = \begin{cases} x^2 \sin \frac{1}{x}, & x \neq 0 \\ 0, & x = 0 \end{cases}$$

قابل تفرق ہے اور $f'(0)$ تلاش کریں۔

کمپیوٹر کا استعمال

سوال ۳.۵۷: $0 \le x \le 2$ کے لئے $y = \frac{1}{2\sqrt{x}}$ کو ترسیم کریں۔ اس کے اوپر پہلے $h = 1, 0.5, 0.1$ لے کر $y = \frac{\sqrt{x+h}-\sqrt{x}}{h}$ ترسیم کریں اور بعد میں $h = -1, -0.5, -0.1$ لے کر ترسیم کریں۔ سمجھائیں کہ کیا ہو رہا ہے۔

سوال ۳.۵۸: $-2 \le x \le 2$ اور $0 \le y \le 3$ لیتے ہوئے $y = 3x^2$ ترسیم کریں۔ اسی کے اوپر پہلے $h = 2, 1, 0.2$ لے کر $y = \frac{(x+h)^3-x^3}{h}$ ترسیم کریں اور بعد میں $h = -2, -1, -0.2$ لے کر ترسیم کریں۔ سمجھائیں کیا ہو رہا ہے۔

سوال ۳.۵۹: وائنسٹراس کا ناقابل تفرق تفاعل وائنسٹراس تفاعل $f(x) = \sum_{n=0}^{\infty}()^n \cos(9^n \pi x)$ کے پہلے آٹھ ارکان کا مجموعہ درج ذیل ہے۔

$$g(x) = \cos(\pi x) + \left(\frac{2}{3}\right)^1 \cos(9\pi x) + \left(\frac{2}{3}\right)^2 \cos(9^2 \pi x) + \left(\frac{2}{3}\right)^3 \cos(9^3 \pi x) + \cdots + \left(\frac{2}{3}\right)^7 \cos(9^7 \pi x)$$

اس تفاعل کو ترسیم کریں۔ ترسیم کی جسامت بڑی کرتے ہوئے دیکھیں یہ کتنی بلدار ہے۔

سوال ۳.۶۰ تا سوال ۳.۶۵ میں کمپیوٹر استعمال کرتے ہوئے درج ذیل کریں۔

ا. $y = f(x)$ ترسیم کرتے ہوئے اس کا رویہ دیکھیں۔

ب. عمومی جسامت کا قدم h لیتے ہوئے عمومی نقطہ x پر حاصل تقسیم q متعارف کریں۔

ج. $h \to 0$ کرتے ہوئے حد لینے سے کون سا کلیہ حاصل ہوتا ہے؟

د. $x = x_0$ پُر کرتے ہوئے تفاعل اور اس نقطے پر مماس ترسیم کریں۔

ھ. x_0 سے x کی بڑی اور چھوٹی قیمتیں جزو (ج) میں پُر کریں۔ کیا کلیہ اور ترسیم ایک سا مطلب پیش کرتے ہیں؟

و. جزو(ج) میں حاصل کیا گیا کلیہ ترسیم کریں۔اس کی قیمتیں منفی، مثبت یا صفر ہونے کا کیا مطلب ہے؟ کیا جزو(ا) کی ترسیم کے ساتھ اس کا کوئی مطلب بنتا ہے؟ اپنے جواب کی وجہ پیش کریں۔

سوال ۳.۶۰: $f(x) = x^3 + x^2 - x, \quad x_0 = 1$

سوال ۳.۶۱: $f(x) = x^{\frac{1}{3}} + x^{\frac{2}{3}}, \quad x_0 = 1$

سوال ۳.۶۲: $f(x) = \frac{4x}{x^2+1}, \quad x_0 = 2$

سوال ۳.۶۳: $f(x) = \frac{x-1}{3x^2+1}, \quad x_0 = -1$

سوال ۳.۶۴: $f(x) = \sin 2x, \quad x_0 = \frac{\pi}{2}$

سوال ۳.۶۵: $f(x) = x^2 \cos x, \quad x_0 = \frac{\pi}{4}$

۳.۲ قواعد تفرق

اس حصے میں تفرق کی تعریف استعمال کیے بغیر تفاعل کا تفرق حاصل کرنا سکھایا جائے گا۔

طاقت، مجموعے اور تفریق

تفرق کا پہلا قاعدہ یہ ہے کہ مستقل کا تفرق صفر کے برابر ہے۔

قاعدہ ۳.۱: **مستقل کا تفرق**
اگر c مستقل ہو تب $\frac{\mathrm{d}}{\mathrm{d}x} c = 0$ ہو گا۔

مثال ۳.۶: $\frac{\mathrm{d}}{\mathrm{d}x}(8) = 0, \quad \frac{\mathrm{d}}{\mathrm{d}x}\left(-\frac{1}{2}\right) = 0, \quad \frac{\mathrm{d}}{\mathrm{d}x}(\sqrt{3}) = 0$ □

ثبوت قاعدہ: ہم تفرق کی تعریف استعمال کرتے ہوئے $f(x) = c$ کا تفرق حاصل کرتے ہیں (شکل ۳.۲۶)۔ ہر x پر درج ذیل ہو گا۔

$$f'(x) = \lim_{h\to 0} \frac{f(x+h) - f(x)}{h} = \lim_{h\to 0} \frac{c-c}{h} = \lim_{h\to 0} 0 = 0$$

□

اگلا قاعدہ ہمیں x^n کا تفرق دیتا ہے جہاں n مثبت عدد صحیح ہے۔

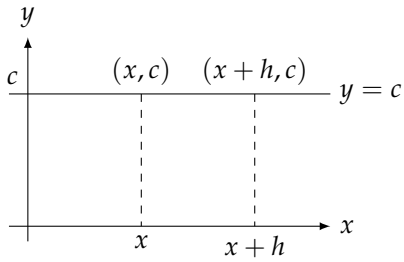

شکل ۳.۲۶: مستقل کا تفرق صفر ہو گا۔

۳۰۸۶ قاعدہ ۳.۲: **قاعدہ طاقت برائے مثبت عدد صحیح**

۳۰۸۷ اگر n مثبت عدد صحیح ہو تب درج ذیل ہو گا۔

$$\frac{\mathrm{d}}{\mathrm{d}x}x^n = nx^{n-1}$$

۳۰۸۸

۳۰۸۹ قاعدہ طاقت استعمال کرتے ہوئے ہم طاقت n سے 1 منفی کرتے ہوئے جواب کو n سے ضرب دیتے ہیں۔

۳۰۹۰ مثال ۳.۷:

f	x	x^2	x^3	x^4	$\cdots$
f'	1	$2x$	$3x^2$	$4x^3$	$\cdots$

۳۰۹۱ □

۳۰۹۲ ثبوت قاعدہ: اگر $f(x) = x^n$ ہو تب $f(x+h) = (x+h)^n$ ہو گا۔ چونکہ n مثبت عدد صحیح ہے ہم درج ذیل حقیقت

$$a^n - b^n = (a-b)(a^{n-1+a^{n-2}b} + \cdots + ab^{n-2} + b^{n-1})$$

۳۰۹۳ استعمال کرتے ہوئے تفریقی حاصل تقسیم کی سادہ صورت حاصل کرتے ہیں۔ ہم $a = x+h$ اور $b = x$ لیتے ہیں۔ یوں $h = a - b$ ہو
۳۰۹۴ گا۔ اس طرح

$$\begin{aligned}
\frac{f(x+h)-f(x)}{h} &= \frac{(x+h)^n - x^n}{h} \\
&= \frac{(h)[(x+h)^{n-1} + (x+h)^{n-2}x + \cdots + (x+h)x^{n-2} + x^{n-1}]}{h} \\
&= (x+h)^{n-1} + (x+h)^{n-2}x + \cdots + (x+h)x^{n-2} + x^{n-1}
\end{aligned}$$

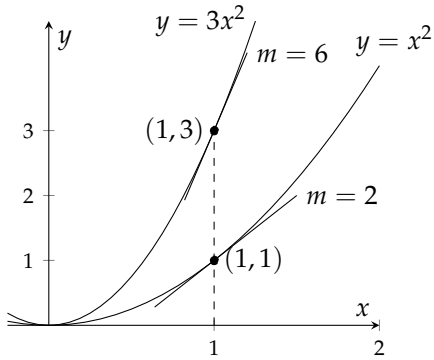

شکل ۳.۲۷: ترسیم برائے مثال ۳.۸

۳۰۹۵ لکھا جا سکتا ہے جو n ارکان پر مشتمل ہے اور $h \to 0$ کرتے ہوئے ہر رکن کی حد x^{n-1} ہے۔ یوں درج ذیل نتیجہ حاصل ہوتا ہے۔

$$\frac{\mathrm{d}}{\mathrm{d}x}x^n = \lim_{h\to 0}\frac{f(x+h)-f(x)}{h} = nx^{n-1}$$

۳۰۹۶ □

۳۰۹۷ اگلا قاعدہ کہتا ہے کہ قابل تفرق تفاعل کو مستقل سے ضرب دینے سے حاصل تفاعل کا تفرق بھی اس مستقل سے ضرب ہو گا۔

۳۰۹۸ قاعدہ ۳.۳: **قاعدہ مستقل مضرب**

۳۰۹۹ اگر u متغیر x کا قابل تفرق تفاعل ہو اور c ایک مستقل ہو تب درج ذیل ہو گا۔

$$\frac{\mathrm{d}}{\mathrm{d}x}(cu) = c\frac{\mathrm{d}u}{\mathrm{d}x}$$

۳۱۰۰

۳۱۰۱ بالخصوص مثبت عدد صحیح n کی صورت میں درج ذیل ہو گا۔

$$\frac{\mathrm{d}}{\mathrm{d}x}(cx^n) = cnx^{n-1}$$

۳۱۰۲ مثال ۳.۸: تفرقی کلیہ $\frac{\mathrm{d}}{\mathrm{d}x}(3x^2) = 3\cdot 2x = 6x$ کہتا ہے کہ y محور کو 3 سے ضرب دیتے ہوئے ترسیم $y = x^2$ کی پیمائش

۳۱۰۳ تبدیل کرنے سے ہر نقطے کا ڈھلوان 3 سے ضرب ہو گا (شکل ۳.۲۷)۔ □

مثال ۳.۹: قابل تفرق تفاعل کے منفی کا تفرق اس تفاعل کے تفرق کا منفی ہو گا۔ قاعدہ ۳.۳ میں $c = -1$ لیتے ہوئے درج ذیل ملتا ہے۔

$$\frac{\mathrm{d}}{\mathrm{d}x}(-u) = \frac{\mathrm{d}}{\mathrm{d}x}(-1 \cdot u) = -1 \cdot \frac{\mathrm{d}}{\mathrm{d}x}(u) = -\frac{\mathrm{d}u}{\mathrm{d}x}$$

□

ثبوت قاعدہ: (قاعدہ ۳.۳)

$$\begin{aligned}
\frac{\mathrm{d}}{\mathrm{d}x}cu &= \lim_{h\to 0}\frac{cu(x+h)-cu(x)}{h} && f(x) = cu(x) \text{ کے تفرق کی تعریف} \\
&= c\lim_{h\to 0}\frac{u(x+h)-u(x)}{h} && \text{تحدیدی خاصیت} \\
&= c\frac{\mathrm{d}u}{\mathrm{d}x} && u \text{ قابل تفرق ہے}
\end{aligned}$$

□

اگلا قاعدہ کہتا ہے کہ دو قابل تفرق تفاعل کے مجموعے کا تفرق ان کے انفرادی تفرق کا مجموعہ ہو گا۔

قاعدہ ۳.۴: **قاعدہ مجموعہ**

اگر u اور v متغیر x کے قابل تفرق تفاعل ہوں تب ان کا مجموعہ $u + v$ ہر اس نقطے پر قابل تفرق ہو گا جہاں u اور v دونوں قابل تفرق ہوں۔ ایسے نقطے پر درج ذیل ہو گا۔

$$\frac{\mathrm{d}}{\mathrm{d}x}(u+v) = \frac{\mathrm{d}u}{\mathrm{d}x} + \frac{\mathrm{d}v}{\mathrm{d}x}$$

قاعدہ مجموعہ اور قاعدہ مستقل مضرب کو ملا کر مساوی **تفریقی قاعدہ** حاصل ہو گا جس کے تحت دو قابل تفرق تفاعل کے حاصل تفریق کا تفرق ان کے تفرق کا تفریق ہو گا:

$$\frac{\mathrm{d}}{\mathrm{d}x}(u-v) = \frac{\mathrm{d}}{\mathrm{d}x}[u+(-1)v] = \frac{\mathrm{d}u}{\mathrm{d}x} + (-1)\frac{\mathrm{d}v}{\mathrm{d}x} = \frac{\mathrm{d}u}{\mathrm{d}x} - \frac{\mathrm{d}v}{\mathrm{d}x}$$

قاعدہ مجموعہ کو وسعت دے کر دو سے زیادہ تفاعلات کے لئے بھی استعمال کیا جا سکتا ہے بس اتنا ضروری ہے کہ مجموعے میں ارکان کی تعداد متناہی ہو۔ اگر $u_1, u_2, \cdots, u_n$ متغیر x کے قابل تفرق تفاعل ہوں تب $u_1 + u_2 + \cdots + u_n$ بھی قابل تفرق ہو گا اور اس کا تفرق درج ذیل ہو گا۔

$$\frac{\mathrm{d}}{\mathrm{d}x}(u_1 + u_2 + \cdots + u_n) = \frac{\mathrm{d}u_1}{\mathrm{d}x} + \frac{\mathrm{d}u_2}{\mathrm{d}x} + \cdots + \frac{\mathrm{d}u_n}{\mathrm{d}x}$$

۳۱۱۸ مثال ۳.۱۰:

(ا) $y = x^4 + 12x$

$$\frac{dy}{dx} = \frac{d}{dx}(x^4) + \frac{d}{dx}(12x) = 4x^3 + 12$$

(ب) $y = x^3 + \frac{4}{3}x^2 - 5x + 1$

$$\begin{aligned}\frac{dy}{dx} &= \frac{d}{dx}x^3 + \frac{d}{dx}\left(\frac{4}{3}x^2\right) - \frac{d}{dx}(5x) + \frac{d}{dx}(1)\\ &= 3x^2 + \frac{4}{3}\cdot 2x - 5 + 0\\ &= 3x^2 + \frac{8}{3}x - 5\end{aligned}$$

۳۱۱۹ □

۳۱۲۰ آپ نے اس مثال میں دیکھا کہ کسی بھی کثیر رکنی کا جزو در جزو تفرق لیا جا سکتا ہے۔

۳۱۲۱ ثبوت قاعدہ: (قاعدہ ۳.۴) ہم تفرق کی تعریف کو $f(x) = u(x) + v(x)$ پر لاگو کرتے ہیں۔

$$\begin{aligned}\frac{d}{dx}[u(x) + v(x)] &= \lim_{h\to 0}\frac{[u(x+h) + v(x+h)] - [u(x) + v(x)]}{h}\\ &= \lim_{h\to 0}\left[\frac{u(x+h) - u(x)}{h} + \frac{v(x+h) - v(x)}{h}\right]\\ &= \lim_{h\to 0}\frac{u(x+h) - u(x)}{h} + \lim_{h\to 0}\frac{v(x+h) - v(x)}{h}\\ &= \frac{du}{dx} + \frac{dv}{dx}\end{aligned}$$

۳۱۲۲ □

۳۱۲۳ **دو سے زیادہ تفاعل کے مجموعہ کے لئے ثبوت**

۳۱۲۴ ہم درج ذیل فقرے کو **ریاضی ماخوذ**[۱۰] کی مدد سے ثابت کرتے ہیں۔

$$\frac{d}{dx}(u_1 + u_2 + \cdots + u_n) = \frac{du_1}{dx} + \frac{du_2}{dx} + \cdots + \frac{du_n}{dx} \qquad (ا)$$

۳۱۲۵ جیسا اوپر ثابت کیا گیا درج بالا فقرہ $n = 2$ کے لئے درست ہے۔ یہ ریاضی ماخوذ کا پہلا قدم ہے۔

۳۱۲۶ دوسرے قدم میں ہم نے ثابت کرنا ہو گا کہ اگر یہ فقرہ کسی بھی مثبت عدد صحیح $n = k$ (جہاں $k \geq n_0 = 2$ ہے) کے لئے درست ہو تب یہ

۳۱۲۷ $n = k + 1$ کے لئے بھی درست ہو گا۔ فرض کریں کہ

$$\frac{d}{dx}(u_1 + u_2 + \cdots + u_k) = \frac{du_1}{dx} + \frac{du_2}{dx} + \cdots + \frac{du_k}{dx}$$

[۱۰] mathematicalinduction

۳۱۲۸ ہے تب درج ذیل ہو گا۔

$$\begin{aligned}
&\frac{\mathrm{d}}{\mathrm{d}x}(\underbrace{u_1+u_2+\cdots+u_k}_{\text{اس مجموعہ کو } u \text{ کہیں}}+\underbrace{u_{k+1}}_{\text{اس کو } v \text{ کہیں}})\\
&=\frac{\mathrm{d}}{\mathrm{d}x}(u_1+u_2+\cdots+u_k)+\frac{\mathrm{d}u_{k+1}}{\mathrm{d}x}\\
&=\frac{\mathrm{d}u_1}{\mathrm{d}x}+\frac{\mathrm{d}u_2}{\mathrm{d}x}+\cdots+\frac{\mathrm{d}u_k}{\mathrm{d}x}+\frac{\mathrm{d}u_{k+1}}{\mathrm{d}x}
\end{aligned}$$

۳۱۲۹ اس قدم کی تکمیل ہر عدد صحیح $n \geq 2$ کے لئے قاعدہ ۳.۴ کی درستگی کی تصدیق کرتی ہے۔

۳۱۳۰ مثال ۳.۱۱: کیا منحنی $y = x^4 - 2x^2 + 2$ کا افقی مماس پایا جاتا ہے؟ اگر پایا جاتا ہو تب کہاں پایا جاتا ہے؟

۳۱۳۱ حل: افقی مماس وہاں ہو گا جہاں $\frac{\mathrm{d}y}{\mathrm{d}x}$ صفر کے برابر ہو۔ ان نقطوں کو حاصل کرنے کے لئے ہم $\frac{\mathrm{d}y}{\mathrm{d}x}$ معلوم کرتے ہیں

$$\frac{\mathrm{d}y}{\mathrm{d}x}=\frac{\mathrm{d}}{\mathrm{d}x}(x^4-2x^2+2)=4x^3-4x$$

۳۱۳۲ اور اس کے بعد مساوات $\frac{\mathrm{d}y}{\mathrm{d}x}=0$ کو x کے لئے حل کرتے ہیں۔

$$\begin{aligned}
4x^3-4x&=0\\
4x(x^2-1)&=0\\
x&=0,1,-1
\end{aligned}$$

۳۱۳۳ منحنی $y = x^4 - 2x^2 + 2$ کا افقی مماس $x = 0, 1, -1$ پر پایا جاتا ہے جہاں منحنی کے مطابق نقطے $(-1,1)$ ، $(1,1)$ ،
۳۱۳۴ $(0,2)$ ہیں (شکل ۳.۲۸)۔ □

۳۱۳۵ حاصل ضرب اور حاصل تقسیم

۳۱۳۶ اگرچہ دو تفاعل کے مجموعہ کا تفرق ان تفاعل کے تفرق کا مجموعہ ہے، دو تفاعل کے حاصل ضرب کا تفرق ان تفاعل کے تفرق کا حاصل ضرب نہیں ہو گا۔ مثال
۳۱۳۷ کے طور پر

$$\frac{\mathrm{d}}{\mathrm{d}x}(x\cdot x)=\frac{\mathrm{d}}{\mathrm{d}x}(x^2)=2x \quad \text{ہے جبکہ} \quad \frac{\mathrm{d}}{\mathrm{d}x}(x)\cdot\frac{\mathrm{d}}{\mathrm{d}x}(x)=1\cdot 1=1 \quad \text{ہو گا۔}$$

۳۱۳۸ دو تفاعل کے حاصل ضرب کا تفرق دو حاصل ضرب کا مجموعہ ہو گا۔

۳۱۳۹ قاعدہ ۳.۵: **قاعدہ حاصل ضرب**

۳۱۴۰ اگر u اور v متغیر x کے قابل تفرق تفاعل ہوں تب ان کا حاصل ضرب uv بھی x کا قابل تفرق تفاعل ہو گا جس کا تفرق درج ذیل ہو گا۔

$$\frac{\mathrm{d}}{\mathrm{d}x}(uv)=u\frac{\mathrm{d}v}{\mathrm{d}x}+v\frac{\mathrm{d}u}{\mathrm{d}x}$$

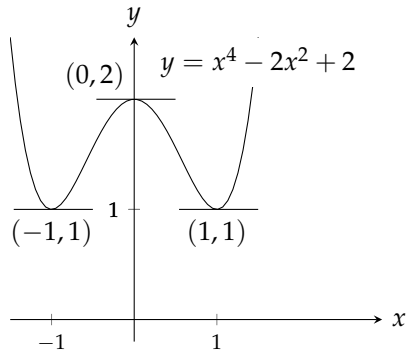

شکل ۳.۲۸: افقی مماس (مثال ۳.۱۱)

۳۱۴۱ حاصل ضرب uv کا تفرق u ضرب v کا تفرق جمع v ضرب u کا تفرق ہوگا۔ اس کو $(uv)' = uv' + vu'$ بھی لکھا جا سکتا ہے۔

۳۱۴۲ **ثبوت قاعدہ:** تفرق کی تعریف کے تحت

$$\frac{\mathrm{d}}{\mathrm{d}x}(uv) = \lim_{h\to 0} \frac{u(x+h)v(x+h) - u(x)v(x)}{h}$$

۳۱۴۳ ہوگا جس کو u اور v کے تفریقی حاصل تقسیم کی صورت میں لکھنے کی خاطر ہم شمار کنندہ میں $u(x+h)v(x)$ جمع اور منفی کرتے ہیں۔

$$\begin{aligned}
\frac{\mathrm{d}}{\mathrm{d}x}(uv) &= \lim_{h\to 0} \frac{u(x+h)v(x+h) - u(x+h)v(x) + u(x+h)v(x) - u(x)v(x)}{h} \\
&= \lim_{h\to 0} \left[u(x+h)\frac{v(x+h)-v(x)}{h} + v(x)\frac{u(x+h)-u(x)}{h} \right] \\
&= \lim_{h\to 0} u(x+h) \cdot \lim_{h\to 0} \frac{v(x+h)-v(x)}{h} + v(x) \cdot \lim_{h\to 0} \frac{u(x+h)-u(x)}{h}
\end{aligned}$$

۳۱۴۴ چونکہ x پر u قابل تفرق ہے لہٰذا $h \to 0$ کرنے سے $u(x+h) \to u(x)$ ہوگا۔ دو کسر کی تحدیدی قیمتیں x پر $\frac{\mathrm{d}v}{\mathrm{d}x}$ اور $\frac{\mathrm{d}u}{\mathrm{d}x}$
۳۱۴۵ ہیں۔ مختصراً درج ذیل حاصل ہوگا۔

$$\frac{\mathrm{d}}{\mathrm{d}x}(uv) = u\frac{\mathrm{d}v}{\mathrm{d}x} + v\frac{\mathrm{d}u}{\mathrm{d}x}$$

۳۱۴۶ □

۳۱۴۷ **قاعدہ حاصل ضرب کی تصویر کشی**

۳۱۴۸ اگر $u(x)$ اور $v(x)$ مثبت ہوں اور x بڑھنے سے بڑھتے ہوں تب $h > 0$ کی صورت میں شکل ۳.۲۹ حاصل ہوگی۔ $u(x)$ اور $v(x)$

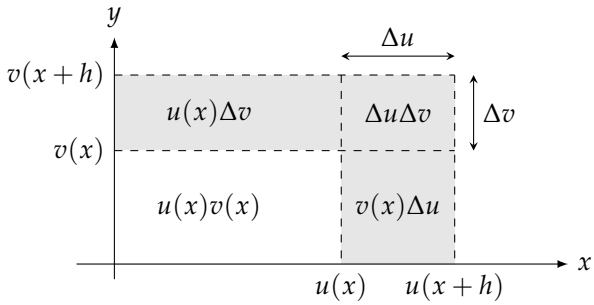

شکل ۳.۲۹: قاعدہ حاصل ضرب کی تصویر کشی۔

۳۱۴۹ بڑھنے سے رقبہ میں اضافہ

$$u(x+h)v(x+h) - u(x)v(x) = u(x+h)\Delta v + v(x+h)\Delta u - \Delta u \Delta v$$

۳۱۵۰ ہو گا جس کو ہلکا سیاہ رنگ دیا گیا ہے۔ اس مساوات کے دونوں اطراف کو h سے تقسیم کرنے سے

$$\frac{u(x+h)v(x+h) - u(x)v(x)}{h} = u(x+h)\frac{\Delta v}{h} + v(x+h)\frac{\Delta u}{h} - \Delta u \frac{\Delta v}{h}$$

۳۱۵۱ حاصل ہو گا۔ اب $h \to 0^+$ کرنے سے $\Delta u \cdot \frac{\Delta v}{h} \to 0 \cdot \frac{\mathrm{d}v}{\mathrm{d}x} = 0$ ہو گا لہٰذا درج ذیل باقی رہ جاتا ہے۔

$$\frac{\mathrm{d}}{\mathrm{d}x}(uv) = u\frac{\mathrm{d}v}{\mathrm{d}x} + v\frac{\mathrm{d}u}{\mathrm{d}x}$$

۳۱۵۲

۳۱۵۳ مثال ۳.۱۲: تفاعل $y = (x^2+1)(x^3+3)$ کا تفرق تلاش کریں۔

۳۱۵۴ حل: قاعدہ حاصل ضرب میں $u = x^2+1$ اور $v = x^3+3$ لیتے ہوئے درج ذیل حاصل ہو گا۔

$$\begin{aligned}\frac{\mathrm{d}}{\mathrm{d}x}[(x^2+1)(x^3+3)] &= (x^2+1)(3x^2) + (x^3+3)(2x)\\ &= 3x^4 + 3x^2 + 2x^4 + 6x\\ &= 5x^4 + 3x^2 + 6x\end{aligned}$$

۳۱۵۵ □

۳۱۵۶ اس مثال میں قوسین کھول کر تفرق لینا غالباً زیادہ بہتر ہوتا۔ ایسا کرنے سے

$$\begin{aligned}y &= (x^2+1)(x^3+3) = x^5 + x^3 + 3x^2 + 3\\ \frac{\mathrm{d}y}{\mathrm{d}x} &= 5x^4 + 3x^2 + 6x\end{aligned}$$

ملتا ہے جو مثال ۳.۱۲ میں حاصل جواب کی تصدیق کرتا ہے۔

بعض اوقات آپ دیکھیں گے کہ قاعدہ حاصل ضرب استعمال کرنا ضروری ہو گا یا نسبتاً زیادہ آسان ہو گا۔ درج ذیل مثال میں ہمارے پاس صرف اعدادی قیمتیں ہیں جن سے ہمیں جواب حاصل کرنا ہے۔

مثال ۳.۱۳: فرض کریں کہ $y = uv$ تفاعل u اور v کا حاصل ضرب ہے۔ درج ذیل استعمال کرتے ہوئے $y'(2)$ تلاش کریں۔

$$u(2) = 3, \quad u'(2) = -4, \quad v(2) = 1, \quad v'(2) = 2$$

حل: قاعدہ حاصل ضرب کی درج ذیل صورت

$$y' = (uv)' = uv' + vu'$$

استعمال کرتے ہیں۔

$$\begin{aligned} y'(2) &= u(2)v'(2) + v(2)u'(2) \\ &= (3)(2) + (1)(-4) = 6 - 4 = 2 \end{aligned}$$

□

حاصل تقسیم

جیسا تفاعل کے حاصل ضرب کا تفرق ان کے تفرق کا حاصل ضرب نہیں اسی طرح تفاعل کے حاصل تقسیم کا تفرق ان کے تفرق کا حاصل تقسیم نہیں۔ درج ذیل قاعدہ اس کا حل دیتا ہے۔

قاعدہ ۳.۶: **قاعدہ حاصل تقسیم**

اگر $u(x)$ اور $v(x)$ متغیر x کے قابل تفرق تفاعل ہوں تب ان کا حاصل تقسیم $\frac{u}{v}$ بھی x کا قابل تفرق تفاعل ہو گا اور یہ تفرق درج ذیل ہو گا۔

$$\frac{\mathrm{d}}{\mathrm{d}x}\left(\frac{u}{v}\right) = \frac{v\frac{\mathrm{d}u}{\mathrm{d}x} - u\frac{\mathrm{d}v}{\mathrm{d}x}}{v^2}$$

ثبوت قاعدہ:

$$\begin{aligned} \frac{\mathrm{d}}{\mathrm{d}x}\left(\frac{u}{v}\right) &= \lim_{h\to 0} \frac{\frac{u(x+h)}{v(x+h)} - \frac{u(x)}{v(x)}}{h} \\ &= \lim_{h\to 0} \frac{v(x)u(x+h) - u(x)v(x+h)}{hv(x+h)v(x)} \end{aligned}$$

۳۱۷۰ آخری کسر کو یوں تبدیل کرتے ہیں کہ اس میں u اور v کے تفریقی حاصل تقسیم پائے جاتے ہوں۔ایسا کرنے کی خاطر شمار کنندہ میں $v(x)u(x)$ جمع
۳۱۷۱ اور منفی کرتے ہیں۔

$$\begin{aligned}\frac{\mathrm{d}}{\mathrm{d}x}\left(\frac{u}{v}\right) &= \lim_{h\to 0}\frac{v(x)u(x+h)-v(x)u(x)+v(x)u(x)-u(x)v(x+h)}{hv(x+h)v(x)}\\ &= \lim_{h\to 0}\frac{v(x)\frac{u(x+h)-u(x)}{h}-u(x)\frac{v(x+h)-v(x)}{h}}{v(x+h)v(x)}\end{aligned}$$

۳۱۷۲ شمار کنندہ اور نسب نما میں حد لینے سے قاعدہ حاصل تقسیم حاصل ہوتا ہے۔

۳۱۷۳ □

۳۱۷۴ مثال ۳.۱۴: تفاعل $y = \frac{t^2-1}{t^2+1}$ کا تفرق تلاش کریں۔
۳۱۷۵ حل: ہم $u = t^2 - 1$ اور $v = t^2 + 1$ لیتے ہوئے قاعدہ حاصل تقسیم استعمال کرتے ہیں۔

$$\begin{aligned}\frac{\mathrm{d}y}{\mathrm{d}t} &= \frac{(t^2+1)\cdot 2t-(t^2-1)\cdot 2t}{(t^2+1)^2} \qquad \left(\frac{\mathrm{d}u}{\mathrm{d}t}=2t,\ \frac{\mathrm{d}v}{\mathrm{d}t}=2t\right)\\ &= \frac{2t^3+2t-2t^3+2t}{(t^2+1)^2}\\ &= \frac{4t}{(t^2+1)^2}\end{aligned}$$

۳۱۷۶ □

۳۱۷۷ منفی عدد صحیح کے لئے طاقتی قاعدہ

۳۱۷۸ منفی عدد صحیح کا طاقتی قاعدہ اور مثبت عدد صحیح کا طاقتی قاعدہ ایک ہیں۔

۳۱۷۹ قاعدہ ۳.۷: **منفی عدد صحیح کا طاقتی قاعدہ**
۳۱۸۰ اگر n منفی عدد صحیح اور $x \neq 0$ ہوں تب درج ذیل ہو گا۔

$$\frac{\mathrm{d}}{\mathrm{d}x}(x^n) = nx^{n-1}$$

۳۱۸۱ ثبوت قاعدہ: ہم قاعدہ حاصل تقسیم کو استعمال کر کے اس قاعدہ کو ثابت کرتے ہیں۔ اگر n منفی عدد صحیح ہو تب $m = -n$ مثبت عدد صحیح ہو
۳۱۸۲ گا۔ یوں $x^n = x^{-m} = \frac{1}{x^m}$ ہو گا لہٰذا درج ذیل لکھا جا سکتا ہے۔

$$\begin{aligned}
\frac{\mathrm{d}}{\mathrm{d}x}(x^n) &= \frac{\mathrm{d}}{\mathrm{d}x}\left(\frac{1}{x^m}\right) \\
&= \frac{x^m \cdot \frac{\mathrm{d}}{\mathrm{d}x}(1) - 1 \cdot \frac{\mathrm{d}}{\mathrm{d}x}(x^m)}{(x^m)^2} && \text{قاعدہ حاصل تقسیم جس میں } u = 1 \text{ اور } v = x^m \text{ ہیں} \\
&= \frac{0 - mx^{m-1}}{x^{2m}} && \text{چونکہ } m > 0 \text{ ہے لہٰذا } \frac{\mathrm{d}}{\mathrm{d}x}(x^m) = mx^{m-1} \text{ ہو گا} \\
&= -mx^{-m-1} \\
&= nx^{n-1} && \text{چونکہ } -m = n \text{ ہے}
\end{aligned}$$

۳۱۸۳ □

۳۱۸۴ مثال ۳.۱۵:

$$\begin{aligned}
\frac{\mathrm{d}}{\mathrm{d}x}\left(\frac{1}{x}\right) &= \frac{\mathrm{d}}{\mathrm{d}x}(x^{-1}) = (-1)x^{-2} = -\frac{1}{x^2} \\
\frac{\mathrm{d}}{\mathrm{d}x}\left(\frac{4}{x^3}\right) &= 4\frac{\mathrm{d}}{\mathrm{d}x}(x^{-3}) = 4(-3)x^{-4} = -\frac{12}{x^4}
\end{aligned}$$

۳۱۸۵ □

۳۱۸۶ مثال ۳.۱۶: منحنی $y = x + \frac{2}{x}$ کا نقطہ $(1,3)$ پر مماس کی مساوات تلاش کریں۔
۳۱۸۷ حل: منحنی کے ڈھلوان کی مساوات

$$\frac{\mathrm{d}y}{\mathrm{d}x} = \frac{\mathrm{d}}{\mathrm{d}x}(x) + 2\frac{\mathrm{d}}{\mathrm{d}x}\left(\frac{1}{x}\right) = 1 + 2\left(-\frac{1}{x^2}\right) = 1 - \frac{2}{x^2}$$

۳۱۸۸ ہے جس کی قیمت نقطہ $x = 1$ پر

$$\left.\frac{\mathrm{d}y}{\mathrm{d}x}\right|_{x=1} = \left[1 - \frac{2}{x^2}\right]_{x=1} = 1 - 2 = -1$$

۳۱۸۹ ہو گی۔ نقطہ $(1,3)$ پر ڈھلوان $m = -1$ کے خط کی مساوات حاصل کرتے ہیں۔

$$\begin{aligned}
y - 3 &= (-1)(x - 1) && \text{نقطہ و ڈھلوان مساوات} \\
y &= -x + 1 + 3 \\
y &= -x + 4
\end{aligned}$$

۳۱۹۰ □

۳۱۹۱ **قاعدہ کا انتخاب**

۳۱۹۲ تفرق کے حصول میں موزوں قاعدے کا انتخاب حساب آسان بنا سکتا ہے۔ درج ذیل مثال اس کی وضاحت کرتی ہے۔

۳۱۹۳ مثال ۳.۱۷: قاعدہ حاصل تقسیم استعمال کرنے کے بجائے

$$y = \frac{(x-1)(x^2-2x)}{x^4}$$

۳۱۹۴ کے شمار کنندہ میں قوسین کھول کر x^4 سے تقسیم کرتے ہیں

$$y = \frac{(x-1)(x^2-2x)}{x^4} = \frac{x^3-3x^2+2x}{x^4} = x^{-1} - 3x^{-2} + 2x^{-3}$$

۳۱۹۵ اور قاعدہ مجموعہ اور قاعدہ طاقت استعمال کرتے ہوئے تفرق حاصل کرتے ہیں۔

$$\begin{aligned}\frac{\mathrm{d}y}{\mathrm{d}x} &= -x^{-2} - 3(-2)x^{-3} + 2(-3)x^{-4}\\ &= -\frac{1}{x^2} + \frac{6}{x^3} - \frac{6}{x^4}\end{aligned}$$

۳۱۹۶ □

۳۱۹۷ دور تبی اور بلند رتبی تفرق

۳۱۹۸ تفرق $y' = \frac{\mathrm{d}y}{\mathrm{d}x}$ کو x کے لحاظ سے y کا رتبہ **اول تفرق**[11] یا **یک رتبی تفرق** یا مختصراً **پہلا تفرق**[12] کہتے ہیں۔ یہ تفرق از خود x کے لحاظ سے
۳۱۹۹ قابل تفرق ہو سکتا ہے۔ اگر ایسا ہو تب تفرق

$$y'' = \frac{\mathrm{d}y'}{\mathrm{d}x} = \frac{\mathrm{d}}{\mathrm{d}x}\left(\frac{\mathrm{d}y}{\mathrm{d}x}\right) = \frac{\mathrm{d}^2 y}{\mathrm{d}x^2}$$

۳۲۰۰ کو x کے لحاظ سے y کا رتبہ **دوم تفرق**[13] یا **دو رتبی تفرق** یا مختصراً **دوسرا تفرق**[14] کہتے ہیں۔

۳۲۰۱ دور تبی تفرق کی علامت $\frac{\mathrm{d}^2 y}{\mathrm{d}x^2}$ میں شمار کنندہ میں d جبکہ نسب نما میں x کی طاقت 2 لکھی جاتی ہے۔ درج بالا مساوات میں $\frac{\mathrm{d}}{\mathrm{d}x}\left(\frac{\mathrm{d}y}{\mathrm{d}x}\right)$ سے مراد
۳۲۰۲ تفرقی علامتوں کی ضرب نہیں بلکہ یہ تفرق کے تفرق کو ظاہر کرتی ہے۔

---

[11] firstorderderivative
[12] firstderivative
[13] secondorderderivative
[14] secondderivative

اگر y'' قابل تفرق ہو تب اس کے تفرق $y''' = \frac{\mathrm{d}y''}{\mathrm{d}x} = \frac{\mathrm{d}^3 y}{\mathrm{d}x^3}$ کو x کے لحاظ سے y کا رتبہ **سوم تفرق** یا سہ **رتبی تفرق** یا تیسرا **رتبی تفرق** یا مختصراً **تیسرا تفرق** کہتے ہیں۔ اسی طرح بڑھتے ہوئے

$$y^{(n)} = \frac{\mathrm{d}}{\mathrm{d}x} y^{(n-1)}$$

کو x کے لحاظ سے y کا رتبہ n **تفرق** یا n **رتبی تفرق** یا n **واں تفرق** کہیں گے جہاں n مثبت عدد صحیح ہے۔ آپ نے دیکھا کہ بلند رتبی تفرق کو قوسین میں بند y کی طاقت لکھا جاتا ہے۔

مثال ۳.۱۸: تفاعل $y = x^3 - 3x^2 + 2$ کے پہلے چار تفرق درج ذیل ہیں۔

$$\begin{aligned} y' &= 3x^2 - 6x \\ y'' &= 6x - 6 \\ y''' &= 6 \\ y^{(4)} &= 0 \end{aligned}$$

چونکہ $y^{(4)} = 0$ ہے اور صفر ایک مستقل ہے لہٰذا اس کا تفرق درحقیقت صفر (یعنی مستقل) کا تفرق ہو گا جو صفر ہی ہے۔ یوں اس تفاعل کا ہر رتبے کا تفرق پایا جاتا ہے۔ اس کا چار رتبی اور اس سے بلند تمام تفرق صفر کے برابر ہیں۔ □

سوالات

تفرق کا حساب

سوال ۳.۶۶ تا سوال ۳.۷۷ میں تفاعل کا رتبہ اول اور رتبہ دوم تفرق حاصل کریں۔

سوال ۳.۶۶: $y = -x^2 + 3$

سوال ۳.۶۷: $y = x^2 + x + 8$

سوال ۳.۶۸: $s = 5t^3 - 3t^5$

سوال ۳.۶۹: $w = 3z^7 - 7z^3 + 21z^2$

سوال ۳.۷۰: $y = \frac{4x^3}{3} - x$

سوال ۳.۷۱: $y = \frac{x^3}{3} + \frac{x^2}{2} + \frac{x}{4}$

سوال ۳.۷۲: $w = 3z^{-2} - \frac{1}{z}$

سوال ۳.۷۳: $s = -2t^{-1} + \frac{4}{t^2}$

سوال ۳.۷۴: $y = 6x^2 - 10x - 5x^{-2}$

۳۲۲۲ سوال ۳.۷۵: $y = 4 - 2x - x^{-3}$

۳۲۲۳ سوال ۳.۷۶: $r = \frac{1}{3s^2} - \frac{5}{2s}$

۳۲۲۴ سوال ۳.۷۷: $r = \frac{12}{\theta} - \frac{4}{\theta^3} + \frac{1}{\theta^4}$

۳۲۲۵

۳۲۲۶ سوال ۳.۷۸ تا سوال ۳.۸۱ میں (ا) y' کو قاعدہ حاصل ضرب کی مدد سے حاصل کریں اور (ب) قوسین کو کھول کر سادہ ارکان حاصل کرتے ہوئے دوبارہ
۳۲۲۷ تفرق حاصل کریں۔

۳۲۲۸ سوال ۳.۷۸: $y = (3 - x^2)(x^3 - x + 1)$

۳۲۲۹ سوال ۳.۷۹: $y = (x - 1)(x^2 + x + 1)$

۳۲۳۰ سوال ۳.۸۰: $y = (x^2 + 1)\left(x + 5 + \frac{1}{x}\right)$

۳۲۳۱ سوال ۳.۸۱: $y = \left(x + \frac{1}{x}\right)\left(x - \frac{1}{x} + 1\right)$

۳۲۳۲ سوال ۳.۸۲ تا سوال ۳.۹۳ میں تفاعل کا تفرق تلاش کریں۔

۳۲۳۳ سوال ۳.۸۲: $y = \frac{2x+5}{3x-2}$

۳۲۳۴ سوال ۳.۸۳: $z = \frac{2x+1}{x^2-1}$

۳۲۳۵ سوال ۳.۸۴: $g(x) = \frac{x^2-4}{x+0.5}$

۳۲۳۶ سوال ۳.۸۵: $f(t) = \frac{t^2-1}{t^2+t-2}$

۳۲۳۷ سوال ۳.۸۶: $v = (1 - t)(1 + t^2)^{-1}$

۳۲۳۸ سوال ۳.۸۷: $w = (2x - 7)^{-1}(x + 5)$

۳۲۳۹ سوال ۳.۸۸: $f(s) = \frac{\sqrt{s}-1}{\sqrt{s}+1}$

۳۲۴۰ سوال ۳.۸۹: $u = \frac{5x+1}{2\sqrt{x}}$

۳۲۴۱ سوال ۳.۹۰: $v = \frac{1+x-4\sqrt{x}}{x}$

۳۲۴۲ سوال ۳.۹۱: $r = 2\left(\frac{1}{\sqrt{\theta}} + \sqrt{\theta}\right)$

۳۲۴۳ سوال ۳.۹۲: $y = \frac{1}{(x^2-1)(x^2+x+1)}$

۳۲۴۴ سوال ۳.۹۳: $y = \frac{(x+1)(x+2)}{(x-1)(x-2)}$

۳۲۴۵ سوال ۳.۹۴: تفاعل $y = \frac{x^4}{2} - \frac{3}{2}x^2 - x$ کے تمام بلند رتبی تفرق تلاش کریں۔

۳۲۴۶ سوال ۳.۹۵: تفاعل $y = \frac{x^5}{120}$ کے تمام بلند رتبی تفرق تلاش کریں۔

۳۲۴۷ سوال ۳.۹۶ تا سوال ۳.۱۰۳ میں یک رتبی اور دو رتبی تفرق تلاش کریں۔

۳۲۴۸ سوال ۳.۹۶: $y = \frac{x^3+7}{x}$

۳۲۴۹ سوال ۳.۹۷: $s = \frac{t^2+5t-1}{t^2}$

۳۲۵۰ سوال ۳.۹۸: $r = \frac{(\theta-1)(\theta^2+\theta+1)}{\theta^3}$

۳۲۵۱ سوال ۳.۹۹: $u = \frac{(x^2+x)(x^2-x+1)}{x^4}$

۳۲۵۲ سوال ۳.۱۰۰: $w = \left(\frac{1+3z}{3z}\right)(3-z)$

۳۲۵۳ سوال ۳.۱۰۱: $w = (z+1)(z-1)(z^2+1)$

۳۲۵۴ سوال ۳.۱۰۲: $p = \left(\frac{q^2+3}{12q}\right)\left(\frac{q^4-1}{q^3}\right)$

۳۲۵۵ سوال ۳.۱۰۳: $p = \frac{q^2+3}{(q-1)^3+(q+1)^3}$

۳۲۵۶ اعدادی قیمتوں کا استعمال

۳۲۵۷ سوال ۳.۱۰۴: فرض کریں u اور v متغیر x کے تفاعل ہیں جو $x = 0$ پر قابل تفرق ہیں۔ مزید ہمیں درج ذیل معلومات دی گئی ہیں۔

$$u(0) = 5, \quad u'(0) = -3, \quad v(0) = -1, \quad v'(0) = 2$$

۳۲۵۸ $x = 0$ پر درج ذیل تفرق تلاش کریں۔

$$\frac{\mathrm{d}}{\mathrm{d}x}(uv), \quad \frac{\mathrm{d}}{\mathrm{d}x}\left(\frac{u}{v}\right), \quad \frac{\mathrm{d}}{\mathrm{d}x}\left(\frac{v}{u}\right), \quad \frac{\mathrm{d}}{\mathrm{d}x}(7v-2u)$$

۳۲۵۹ سوال ۳.۱۰۵: فرض کریں u اور v متغیر x کے قابل تفرق تفاعل ہیں۔ مزید ہمیں درج ذیل معلومات دی گئی ہیں۔

$$u(1) = 2, \quad u'(1) = 0, \quad v(1) = 5, \quad v'(1) = -1$$

۳۲۶۰ $x = 1$ پر درج ذیل تفرق تلاش کریں۔

$$\frac{\mathrm{d}}{\mathrm{d}x}(uv), \quad \frac{\mathrm{d}}{\mathrm{d}x}\left(\frac{u}{v}\right), \quad \frac{\mathrm{d}}{\mathrm{d}x}\left(\frac{v}{u}\right), \quad \frac{\mathrm{d}}{\mathrm{d}x}(7v-2u)$$

۳۲۶۱ ڈھلوان اور مماس

۳۲۶۲ سوال ۳.۱۰۶: (ا) نقطہ $(2,1)$ پر منحنی $y = x^3 - 4x + 1$ کے مماس کے قائمہ کی مساوات تلاش کریں۔ (ب) منحنی کا کم تر ڈھلوان کتنا
۳۲۶۳ اور کس نقطے پر ہے؟ (ج) جس نقطے پر منحنی کے مماس کا ڈھلوان 8 ہے وہاں مماس کی مساوات تلاش کریں۔

سوال ۳.۱۰۷: (ا) منحنی $y = x^3 - 3x - 2$ کی افقی مماسات کی مساواتیں تلاش کریں۔ مماسی نقطے پر مماس کے قائمہ کی مساواتیں بھی تلاش کریں۔ (ب) منحنی کا کم تر ڈھلوان کیا ہے اور کس نقطے پر ہے؟ اس نقطے پر مماس کے قائمہ کی مساوات تلاش کریں۔

سوال ۳.۱۰۸: مبدا اور $(1,2)$ پر منحنی $y = \frac{4x}{x^2+1}$ کی مماسات کی مساواتیں تلاش کریں۔

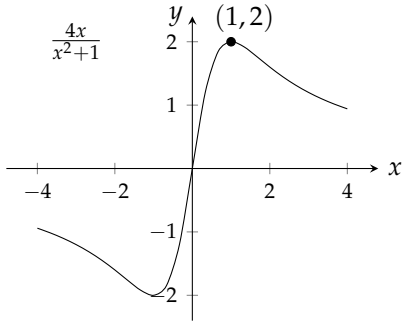

سوال ۳.۱۰۹: نقطہ $(2,1)$ پر $y = \frac{8}{x^2+4}$ کے مماس کی مساوات تلاش کریں۔

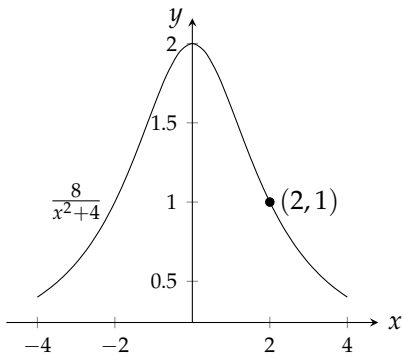

سوال ۳.۱۱۰: منحنی $y = ax^2 + bx + c$ نقطہ $(1,2)$ سے گزرتی ہے اور مبدا پر خط $y = x$ اس کا مماس ہے۔ a ، b اور c تلاش کریں۔

سوال ۳.۱۱۱: نقطہ $(1,0)$ پر $y = x^2 + ax + b$ اور $y = cx - x^2$ کا مشترک مماس پایا جاتا ہے۔ a ، b اور c تلاش کریں۔

سوال ۳.۱۱۲: (ا) نقطہ $(-1,0)$ پر منحنی $y = x^3 - x$ کے مماس کی مساوات تلاش کریں۔ (ب) کمپیوٹر پر منحنی اور مماس کو ترسیم کریں۔ مماس اس منحنی کو دوسرے نقطہ پر قطع کرتا ہے۔ ترسیم کو بڑا کرتے ہوئے اس نقطے کے محدد کا اندازہ لگائیں۔ (ج) مماس اور منحنی کو اکٹھا حل کرتے ہوئے اس نقطے کی تصدیق کریں۔

سوال ۳.۱۱۳: (ا) مبدا پر منحنی $y = x^3 - 6x^2 + 5x$ کے مماس کی مساوات تلاش کریں۔ (ب) منحنی اور مماس کو کمپیوٹر پر ایک ساتھ ترسیم کریں۔ مماس اس منحنی کو دوسرے نقطے پر قطع کرتا ہے۔ ترسیم کو بڑا کرتے ہوئے اس نقطے کے محدد کی اندازاً قیمت تلاش کریں۔ (ج) مماس اور منحنی کو اکٹھا حل کرتے ہوئے اس نقطے کی تصدیق کریں۔

طبیعی استعمال

سوال ۳.۱۱۴: دباو اور حجم بند ڈبہ میں مستقل درجہ حرارت T پر گیس کا حجم H اور دباو P درج ذیل کلیہ مطمئن کرتے ہیں جہاں a ، b ، اور c مستقل ہیں۔ $\frac{\mathrm{d}P}{\mathrm{d}H}$ تلاش کریں۔

$$P = \frac{nRT}{H - nb} - \frac{an^2}{H^2}$$

سوال ۳.۱۱۵: دوا کو جسم کا رد عمل دوا کو جسم کے رد عمل کو درج ذیل کلیہ سے ظاہر کیا جا سکتا ہے جہاں C مثبت مستقل ہے جبکہ M خون میں جذب دوا کی مقدار ہے۔

$$R = M^2\left(\frac{C}{2} - \frac{M}{3}\right)$$

اگر رد عمل فشار خون کی تبدیلی ہو تب R ملی میٹر پارہ میں ناپا جاتا ہے۔ اگر رد عمل درجہ حرارت میں تبدیلی ہو تب R کیلون میں ناپا جاتا ہے، وغیرہ وغیرہ۔ $\frac{\mathrm{d}R}{\mathrm{d}M}$ تلاش کریں۔ یہ تفرق جو M کا تفاعل ہے، دوا کی مقدار میں تبدیلی کو جسم کی **حساسیت**[۱۵] کہلاتا ہے۔ سوال ۴.۳۹۷ میں ہم دوا کی وہ مقدار معلوم کریں گے جس کو جسم زیادہ سے زیادہ حساس ہو۔

نظریہ اور مثالیں

سوال ۳.۱۱۶: فرض کریں قاعدہ حاصل ضرب میں v کی قیمت مستقل c ہو۔ کیا اس سے قاعدہ مضرب مستقل حاصل کیا جا سکتا ہے؟

سوال ۳.۱۱۷: قاعدہ بالعکس تناسب

(ا) **قاعدہ بالعکس تناسب**[۱۶] کہتا ہے جس نقطے پر تفاعل $v(x)$ قابل تفرق ہو اس نقطے پر

$$\frac{\mathrm{d}}{\mathrm{d}x}\left(\frac{1}{v}\right) = -\frac{1}{v^2}\frac{\mathrm{d}v}{\mathrm{d}x}$$

ہو گا۔ دکھائیں کہ قاعدہ بالعکس تناسب در حقیقت قاعدہ حاصل تقسیم کی ایک مخصوص صورت ہے۔ (ب) دکھائیں کہ قاعدہ بالعکس تناسب اور قاعدہ حاصل ضرب کو ملا کر قاعدہ حاصل تقسیم اخذ کیا جا سکتا ہے۔

سوال ۳.۱۱۸: مثبت عدد صحیح کا دوسرا ثبوت الجبرائی کلیہ

$$cx^n - c^n = (x - c)(x^{n-1} + x^{n-2}c + \cdots + xc^{n-2} + c^{n-1})$$

اور صفحہ ۲ پر دیا گیا کلیہ تفرق (مساوات ۲)

$$f'(c) = \lim_{x \to c} \frac{f(x) - f(c)}{x - c}$$

---

[۱۵] sensitivity
[۱۶] reciprocalrule

استعمال کرتے ہوئے $\frac{\mathrm{d}}{\mathrm{d}x}(x^n) = nx^{n-1}$ حاصل کریں۔

سوال ۳.۱۱۹: قاعدہ حاصل ضرب کی عمومی صورت قاعدہ حاصل ضرب متغیر x کے قابل تفرق تفاعل u اور v کے لئے درج ذیل کلیہ دیتا ہے۔

$$\frac{\mathrm{d}}{\mathrm{d}x}(uv) = u\frac{\mathrm{d}v}{\mathrm{d}x} + v\frac{\mathrm{d}u}{\mathrm{d}x}$$

(ا) متغیر x کے قابل تفرق تین تفاعل کے حاصل ضرب uvw کے لئے کلیہ کیا ہو گا؟ (ب) متغیر x کے قابل تفرق چار تفاعل کے حاصل ضرب $u_1u_2u_3u_4$ کے لئے کلیہ کیا ہو گا؟ (ج) متغیر x کے قابل تفرق متناہی تعداد تفاعلات کے حاصل ضرب $u_1u_2\cdots u_n$ کے لئے کلیہ کیا ہو گا؟

سوال ۳.۱۲۰: $x^{3/2}$ کو $x^{1/2} \cdot x$ لکھ کر قاعدہ حاصل ضرب استعمال کرتے ہوئے $\frac{\mathrm{d}}{\mathrm{d}x}(x^{3/2})$ حاصل کریں۔ جواب کو ناطق عدد ضرب x کی ناطق طاقت لکھیں۔ جزو (ب) اور (ج) کو بھی اسی طرح حل کریں۔ (ب) $\frac{\mathrm{d}}{\mathrm{d}x}(x^{5/2})$ تلاش کریں۔ (ج) $\frac{\mathrm{d}}{\mathrm{d}x}(x^{7/2})$ تلاش کریں۔ (د) درج بالا تین جزو میں آپ کیا نقش دیکھتے ہیں۔ ناطق طاقتیں حصہ ۳.۶ کا ایک موضوع ہیں۔

۳.۳ تبدیلی کی شرح

اس حصہ میں ہم تبدیلی کی شرح پر تفرق کی مدد سے غور کریں گے۔ وقت کے لحاظ سے فاصلے میں تبدیلی کی مثالیں سمتی رفتار اور اسراع ہیں۔ ہم وقت کے علاوہ دیگر متغیر کے لحاظ سے بھی تبدیلی پر غور کر سکتے ہیں۔ مثال کے طور پر حکیم جاننا چاہے گا کہ دوا میں معمولی تبدیلی سے مریض کی حال پر کیا اثر ہو گا۔ ماہر اقتصادیات جاننا چاہے گا کہ سرمایہ کاری میں معمولی تبدیلی سے اقتصادی ترقی پر کتنا اثر ہو گا۔ ان سوالات کو موزوں متغیر کے لحاظ سے تفرق کی صورت میں ظاہر کیا جائے گا۔

اوسط اور لمحاتی شرح تبدیلی

ہم کسی دورانیہ پر اوسط شرح تبدیلی سے شروع کرتے ہیں۔ اس دورانیے کو صفر کے نزدیک تر کرنے سے حاصل شرح تبدیلی کی حد کو تفاعل کا تفرق کہتے ہیں۔

تعریف: x کے لحاظ سے وقفہ x_0 تا $x_0 + h$ پر تفاعل $f(x)$ کی **اوسط شرح تبدیلی** سے مراد

$$\text{اوسط شرح تبدیلی} = \frac{f(x_0+h) - f(x_0)}{h}$$

ہے۔ x کے لحاظ سے x_0 پر f کی **(لمحاتی) شرح تبدیلی**

$$f'(x_0) = \lim_{x \to x_0} \frac{f(x_0+h) - f(x_0)}{h}$$

کو کہتے ہیں بشرطیکہ یہ حد موجود ہو۔

□

روایتی طور پر اگر x وقت کو ظاہر نہ کرتا ہو تب بھی لفظ لحاتی استعمال کیا جاتا ہے۔ ''لحاتی شرح تبدیلی'' کو مختصراً ''شرح تبدیلی'' کہتے ہیں۔

مثال ۳.۱۹: دائرے کے رقبہ S اور رداس r کا تعلق درج ذیل ہے۔

$$S = \pi r^2$$

رقبے کی شرح تبدیلی $r = 0.1\,\mathrm{m}$ پر کیا ہو گی؟

حل: رداس کے لحاظ سے رقبے کی (لحاتی) شرح تبدیلی

$$\frac{\mathrm{d}S}{\mathrm{d}r} = 2\pi r$$

ہے۔ یوں $r = 0.1\,\mathrm{m}$ کی صورت میں r تبدیل کرنے سے رقبہ تبدیل ہونے کی شرح $0.2\pi\,\mathrm{m}^2/\mathrm{m}$ ہو گی۔ اس رداس پر رداس میں Δr میٹر چھوٹی تبدیلی سے رقبے میں $0.2\pi\Delta r$ مربع میٹر تبدیلی رونما ہو گی۔ □

لکیر پر حرکت۔ ہٹاو، سمتی رفتار، رفتار اور اسراع

فرض کریں محوری خط (جس کو ہم s محور کہتے ہیں) پر ایک جسم یوں حرکت کرتا ہے کہ محور پر مقام s اور وقت t کا تعلق

$$s = f(t)$$

ہو۔ دورانیہ t تا $t + \Delta t$ میں جسم کا **ہٹاو**[۱۷]

$$\Delta s = f(t + \Delta t) - f(t)$$

ہو گا (شکل ۳.۳۰) اور اس کی **اوسط سمتی رفتار**[۱۸]

$$v_{\text{اوسط}} = \frac{\text{ہٹاو}}{\text{دورانیہ}} = \frac{\Delta s}{\Delta t} = \frac{f(t + \Delta t) - f(t)}{\Delta t}$$

ہو گی۔ ٹھیک لمحہ t پر جسم کی سمتی رفتار جاننے کی خاطر ہم $\Delta t \to 0$ کرتے ہوئے دورانیہ t تا $t + \Delta t$ پر اوسط سمتی رفتار کی حد تلاش کرتے ہیں۔ یہ حد t کے لحاظ سے f کا تفرق ہے۔

تعریف: جسم کی (لحاتی) سمتی رفتار وقت کے لحاظ سے تعین گر تفاعل $s = f(t)$ کا تفرق ہو گا۔ لمحہ t پر سمتی رفتار درج ذیل ہو گی۔

$$v(t) = \frac{\mathrm{d}s}{\mathrm{d}t} = \lim_{\Delta t \to 0} \frac{f(t + \Delta t) - f(t)}{\Delta t}$$

□

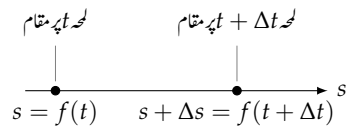

شکل ۳.۳۰: محور پر حرکت کرتے جسم کا t اور $t + \Delta t$ پر مقام

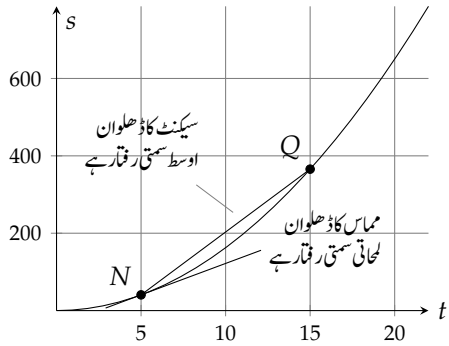

شکل ۳.۳۱: فاصلہ بالمقابل وقت برائے مثال ۳.۲۰

مثال ۳.۲۰: ایک گاڑی کی فاصلہ (میٹر) بالمقابل وقت (سیکنڈ) ترسیم شکل ۳.۳۱ میں دکھائی گئی ہے۔ سیکنٹ NQ کا ڈھلوان دورانیہ $t = 5\,\mathrm{s}$ تا $15\,\mathrm{s}$ کے لئے اوسط سمتی رفتار ہے جو $32.5\,\mathrm{m\,s^{-1}}$ یعنی $117\,\mathrm{km\,h^{-1}}$ کے برابر ہے۔ لمحہ $t = 5\,\mathrm{s}$ پر مماس کا ڈھلوان اس لمحے پر لمحاتی سمتی رفتار $16.25\,\mathrm{m\,s^{-1}}$ یعنی $58.5\,\mathrm{km\,h^{-1}}$ دیتا ہے۔ □

مقدار معلوم روپ

اگر x اور y دونوں متغیر t کے تفاعل ہوں تب $(x(t), y(t))$ کی ترسیم **مقدار معلوم ترسیم**[۱۹] کہلاتی ہے۔ منحنی $y = f(x)$ کا **مقدار معلوم روپ**[۲۰] حاصل کرنے کی خاطر ہم $x = t$ اور $y = f(t)$ لیں گے۔ چند منحنیات کے مقدار معلوم روپ درج ذیل ہے۔

مقدار معلوم روپ	تفاعل
$x(t) = t, y(t) = t^2, -\infty < t < \infty$	$y = x^2$ (y متغیر x کا تفاعل ہے)
$x(t) = 2\cos t, y(t) = 2\sin t, 0 \le t \le 2\pi$	$x^2 + y^2 = 4$ (y متغیر x کا تفاعل نہیں ہے)

سمتی رفتار ہمیں فاصلہ طے کرنے کی شرح کے ساتھ ساتھ حرکت کی سمت بھی دیتی ہے۔ اگر جسم آگے (بڑھتے s) کی طرف حرکت کرتا ہو تب سمتی رفتار مثبت ہو گی؛ اگر جسم پیچھے (گھٹتے s) کی طرف حرکت کرتا ہو تب سمتی رفتار منفی ہو گی (شکل ۳.۳۲)۔

سمتی رفتار کی مطلق قیمت کو **رفتار**[۲۱] کہتے ہیں جو مثبت مقدار ہے۔ اگر آپ اپنے گھر سے دوست کے گھر تک $60\,\mathrm{km}$ کی سمتی رفتار سے گاڑی چلائیں اور واپسی پر اسی رفتار سے واپس آئیں تو واپسی پر گاڑی کی سمتی رفتار $-60\,\mathrm{km}$ ہو گی لیکن گاڑی کا **رفتار پیما**[۲۲] واپسی پر بھی $60\,\mathrm{km\,h^{-1}}$ دکھائے گا چونکہ وہ رفتار ناپتا ہے نا کہ سمتی رفتار۔

---

[۱۷] displacement
[۱۸] averagevelocity
[۱۹] parametriccurve
[۲۰] parametricrepresentation
[۲۱] speed
[۲۲] speedometer

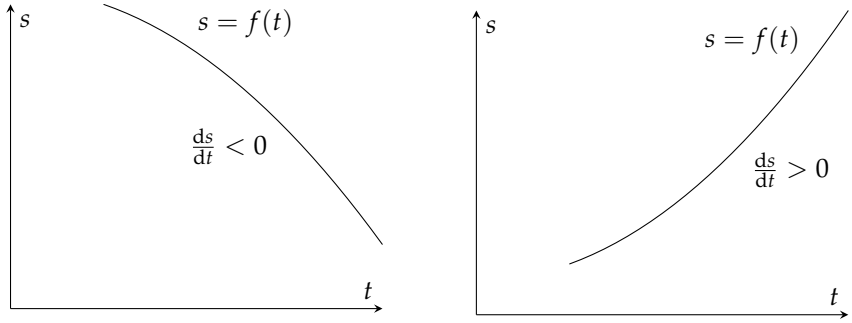

(ا) بڑھتا s مثبت سمتی رفتار $v = \frac{ds}{dt}$ دیگا۔ (ب) گھٹتا s منفی سمتی رفتار $v = \frac{ds}{dt}$ دیگا۔

شکل ۳.۳۲

۳۳۴۰ تعریف: سمتی رفتار کی مطلق قیمت کو **رفتار**[۲۳] کہتے ہیں۔

$$\text{رفتار} = |v(t)| = \left|\frac{ds}{dt}\right|$$

۳۳۴۱ □

۳۳۴۲ جس شرح سے ایک جسم کی سمتی رفتار تبدیل ہوتی ہو اس کو جسم کا **اسراع** کہتے ہیں۔

۳۳۴۳ تعریف: وقت کے لحاظ سے سمتی رفتار کا تفرق **اسراع**[۲۴] کہلاتا ہے۔ اگر لمحہ t پر جسم کا مقام $s = f(t)$ ہو تب t پر اس جسم کا اسراع $a(t)$

۳۳۴۴ درج ذیل ہوگا۔

$$a(t) = \frac{dv}{dt} = \frac{d^2 s}{dt^2}$$

۳۳۴۵ □

۳۳۴۶ ہوا کی مزاحمت کو نظر انداز کرتے ہوئے سطح زمین کے قریب ساکن حال سے گرتے ہوئے جسم کو مثال بنا کر اسراع کی وضاحت کی جا سکتی ہے۔ اس جسم پر صرف

۳۳۴۷ کشش ثقل عمل کرتی ہے اور جسم کی حرکت کو **آزاد گرنا**[۲۵] یا ''آزادانہ گراؤ'' کہتے ہیں۔ آزادی سے گرتا ہوا جسم دورانیہ t میں

$$s = \frac{1}{2}gt^2$$

---

[۲۳] speed
[۲۴] acceleration
[۲۵] freefall

فاصلہ طے کرتا ہے جہاں مستقل $g = 9.8\,\mathrm{m\,s^{-2}}$ سطح زمین کے قریب کشش زمین کی وجہ سے اسراع ہے۔ خلا میں ہوا کی غیر موجودگی کی وجہ سے ہوا کی مزاحمت نہیں پائی جاتی اور جسم اس مساوات کے تحت حرکت کرتا ہے۔ زمین کے قریب ہوا کی موجودگی میں ہر کثیف، بھاری جسم مثلاً اینٹ، پتھر، وغیرہ کی حرکت، ابتدائی چند سیکنڈ کے لئے جب تک ہوا کی مزاحمت قابل نظر انداز ہو، اس مساوات کو مطمئن کرتی ہے۔

اسراع کی اکائی $\mathrm{m\,s^{-2}}$ میٹر فی مربع سیکنڈ پڑھی جاتی ہے۔

یہ مساوات ہمیں آزاد گرتے ہوئے جسم کی رفتار اور مقام کے بارے میں معلومات فراہم کرتی ہے۔

مثال ۳.۲۱: لمحہ $t = 0$ پر ٹھوس جسم کو ساکن حال سے گرنے دیا جاتا ہے۔
(ا) پہلے 2 سیکنڈوں میں جسم کتنا فاصلہ طے کرتا ہے؟ (ب) اس لمحے پر جسم کی رفتار کتنی اور اسراع کتنا ہو گا؟
حل: (ا) پہلے دو سیکنڈوں میں جسم درج ذیل فاصلہ طے کرتا ہے۔

$$s(2) = \frac{1}{2}(9.8)(2^2) = 19.6\,\mathrm{m}$$

(ب) لمحہ t پر رفتار $v(t)$ ہو گی اور اسراع $a(t)$

$$v(t) = \frac{\mathrm{d}s}{\mathrm{d}t} = 9.8t, \quad a = \frac{\mathrm{d}v}{\mathrm{d}t} = \frac{\mathrm{d}^2 s}{\mathrm{d}t^2} = 9.8$$

ہو گا۔ یوں $t = 2\,\mathrm{s}$ پر رفتار اور اسراع درج ذیل ہوں گے۔

$$v(2) = 9.8(2) = 19.6\,\mathrm{m}, \quad a(2) = 9.8\,\mathrm{m\,s^{-2}}$$

آپ نے دیکھا اسراع a کی قیمت وقت t کے تابع نہیں۔ □

مثال ۳.۲۲: ایک جسم $49\,\mathrm{m\,s^{-1}}$ ابتدائی رفتار سے سیدھا اوپر پھینکا جاتا ہے۔ لمحہ t پر جسم کی بلندی $s = 49 - \frac{1}{2}gt^2$ ہو گی (شکل ۳.۳۳)۔

ا. جسم کس بلندی تک پہنچ پائے گا؟

ب. اوپر جاتے ہوئے $102.9\,\mathrm{m}$ کی بلندی پر جسم کی سمتی رفتار کیا ہو گی؟ نیچے آتے ہوئے اتنی ہی بلندی پر سمتی رفتار کیا ہو گی؟

ج. حرکت کے دوران کسی بھی لمحہ t پر جسم کا اسراع کتنا ہو گا؟

د. جسم زمین پر کب گرے گا؟

حل:

ا. ہم محددی نظام یوں منتخب کرتے ہیں کہ سطح زمین سے فاصلہ مثبت ہو۔ یوں بلندی s مثبت مقدار ہو گی، ابتدائی رفتار مثبت ہو گی جبکہ اسراع جو نیچے رخ عمل کرتا ہے منفی ہو گا۔ اوپر جاتے ہوئے سمتی رفتار مثبت جبکہ نیچے گرتے ہوئے سمتی رفتار منفی ہو گی۔ بلند تر مقام پر سمتی رفتار صفر ہو گی۔ لمحہ t پر سمتی رفتار

$$v(t) = \frac{\mathrm{d}s}{\mathrm{d}t} = 49 - gt$$

ہو گی۔ رفتار اس لمحے پر صفر ہو گی جب

$$49 - 9.8t = 0, \quad \Longrightarrow \quad t = \frac{49}{9.8} = 5\,\mathrm{s}$$

ہو۔ لمحہ $t = 5\,\mathrm{s}$ پر جسم کی بلندی درج ذیل ہو گی۔

$$s(5) = 49(5) - \frac{1}{2}(9.8)(5^2) = 122.5\,\mathrm{m}$$

ب. جسم کی رفتار $100\,\mathrm{m}$ پر حاصل کرنے کی خاطر ہم اس بلندی پر t تلاش کرتے ہیں۔

$$102.9 = 49t - 4.9t^2, \quad \Longrightarrow \quad t = 3\,\mathrm{s},\, 7\,\mathrm{s}$$

یوں 3 سیکنڈوں میں جسم $102.9\,\mathrm{m}$ بلندی تک پہنچتا ہے جبکہ واپس گرتے ہوئے اسی بلندی پر یہ 7 سیکنڈ بعد پہنچے گا۔ ان لمحات پر جسم کی سمتی رفتار حاصل کرتے ہیں۔

$$v(3) = 49 - 9.8(3) = 19.6\,\mathrm{m\,s^{-1}}, \quad v(7) = 49 - 9.8(7) = -19.6\,\mathrm{m\,s^{-1}}$$

آپ نے دیکھا کہ دونوں لمحات پر جسم کی رفتار ایک سی ہے۔

ج. جسم کا اسراع تلاش کرتے ہیں۔

$$a(t) = \frac{\mathrm{d}^2 s}{\mathrm{d}t^2} = -g = -9.8\,\mathrm{m\,s^{-2}}$$

جسم کا اسراع مسلسل $-9.8\,\mathrm{m\,s^{-2}}$ ہو گا، جو جسم کے اوپر رخ حرکت کے دوران جسم کی سمتی رفتار گھٹاتا جبکہ نیچے رخ حرکت کے دوران سمتی رفتار بڑھاتا ہے۔

د. جسم اس لمحہ زمین پر ہو گا جب $s = 0$ ہو یعنی:

$$49t - 4.9t^2 = 0, \quad \Longrightarrow \quad t(49 - 4.9t) = 0, \quad \Longrightarrow \quad t = 0\,\mathrm{s},\, 10\,\mathrm{s}$$

یوں ابتدائی لمحے ($t = 0$) پر جسم زمین پر ہو گا اور ٹھیک 10 سیکنڈ بعد جسم واپس زمین پر گرے گا۔ آپ دیکھ سکتے ہیں کہ اوپر جانے کا دورانیہ اور نیچے گرنے کا دورانیہ برابر ہیں۔

□

فنیات انتصابی لکیر پر حرکت کی نقل

مقدار معلوم مساوات

$$x(t) = c, \quad y(t) = f(t)$$

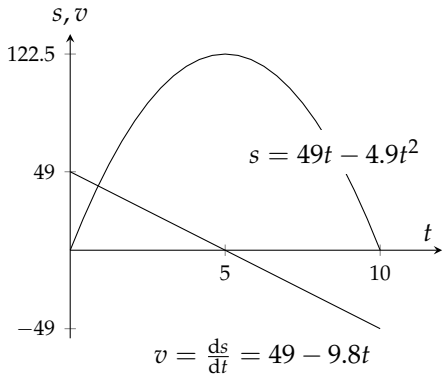

شکل ۳.۳۳: بلندی اور سمتی رفتار (برائے مثال ۳.۲۲)

کو کمپیوٹر پر **نقطوی ترسیم**[۲۶] کریں جو لمحہ t پر نقطہ $(x(t), y(t))$ دکھائے گی۔ نقطوی ترسیم لمحہ بالمحہ صورت حال دکھاتی ہے۔ یوں اگر $f(t)$ جسم کی بلندی کو ظاہر کرتا ہو تب $(x(t), y(t)) = (c, f(t))$ کی لمحاتی ترسیم جسم کی حقیقی حرکت دکھائے گی۔ مثال ۳.۲۲ کے لئے اس لمحاتی ترسیم کو پہلے $0 \leq t \leq 5$ اور بعد میں $0 \leq t \leq 10$ وقفے پر دیکھیں۔

دوسرا تجربہ کرنے کی خاطر مقدار معلوم مساوات

$$x(t) = t, \quad y(t) = 49t - 4.9t^2$$

کو نقطوی ترسیم کریں۔

حساسیت

اگر x میں چھوٹی تبدیلی سے تفاعل $f(x)$ میں بڑی تبدیلی رونما ہو ہو ہم کہتے ہیں x میں تبدیلی کے لئے تفاعل نسبتاً زیادہ **حساس**[۲۷] ہے۔ تفرق $f'(x)$ تفاعل $f(x)$ کی **حساسیت**[۲۸] کی ناپ ہے۔

مثال ۳.۲۳: تبدیلی کے لئے حساسیت

آسٹریا کے گریگوریان مینڈل (1884-1822) نے مٹر پر تجربہ کرتے ہوئے **جینیات**[۲۹] کے میدان کی بنیاد ڈالی۔ ان کے نتائج کے مطابق اگر ہموار جِلد والے (**غالب**[۳۰]) مٹروں کے **جین**[۳۱] کا تعدد p ہو (جہاں p کی قیمت 0 تا 1 ہو سکتی ہے) اور غیر ہموار جِلد والے (**مغلوب**[۳۲]) مٹروں کے جین کا

---

[۲۶] dotgraph
[۲۷] sensitive
[۲۸] sensitivity
[۲۹] genetics
[۳۰] dominant
[۳۱] gene
[۳۲] recessive

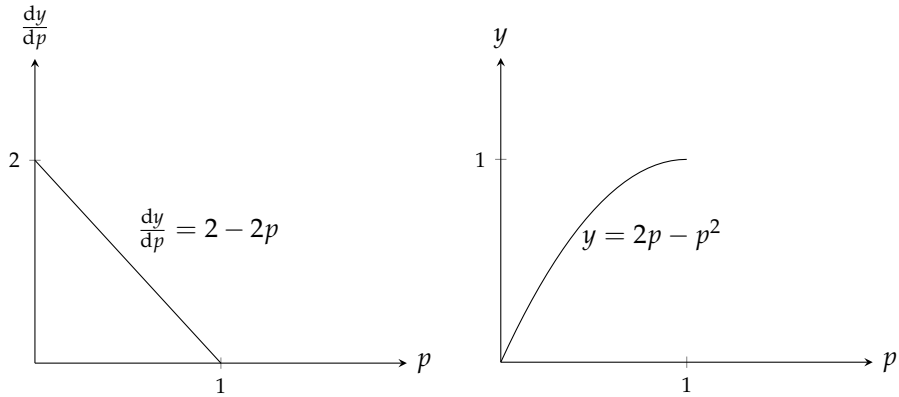

(ب)حساسیت (ا)ہموار جِلد مٹروں کا تناسب $y = 2p - p^2$

شکل ۳.۳۴: مینڈل کے تجربہ نے جینیات کی بنیاد رکھی۔

۳۹۶ تعدد $(1 - p)$ ہو تب مٹروں کی آبادی میں ہموار جِلد مٹروں کا تناسب درج ذیل ہو گا۔

$$y = 2p(1 - p) + p^2 = 2p - p^2$$

۳۹۷ y بالمقابل p کی ترسیم کے مطابق جب p کی قیمت کم ہو تب y زیادہ حساس ہو گا(شکل ۳.۳۴-ا)۔ تفاعل y کے تفرق $\frac{dy}{dp}$ کی ترسیم سے بھی یہی
۳۹۸ ظاہر ہوتا ہے۔جب p کی قیمت 0 کے قریب ہو تب $\frac{dy}{dp}$ کی قیمت 2 کے قریب ہے اور جب p کی قیمت 1 کے قریب ہو تب $\frac{dy}{dp}$ کی قیمت 0
۳۹۹ کے قریب ہے(شکل ۳.۳۴-ب)۔ □

۴۰۰ جیسا تفرق کی بات کرتے ہوئے سمتی رفتار اور اسراع کی اصطلاحات استعمال کی جاتی ہیں، اقتصادیات کے میدان میں ہم **حاشیوں**[۳۳] کی بات کرتے ہیں۔

۴۰۱ عمل پیداوار میں اشیاء پیدا کرنے کی لاگت $c(x)$ متغیر x کا تفاعل ہے جہاں پیدا کردہ اشیاء کی تعداد x ہے۔ **حاشیائی لاگت پیداوار**[۳۴] سے مراد پیداوار
۴۰۲ کے لحاظ سے لاگت کی شرح تبدیلی $\frac{dc}{dx}$ ہے۔

۴۰۳ مثال کے طور پر ایک ہفتہ میں x ٹن[۳۵] فولاد پیدا کرنے پر $c(x)$ روپیہ لاگت آتی ہے۔اب $x + h$ ٹن فولاد پیدا کرنے پر زیادہ لاگت آئے گی اور لاگت
۴۰۴ میں اضافہ (تبدیلی) کو h سے تقسیم کرنے سے فی ہفتہ فی ٹن لاگت میں اوسط اضافہ ہو گا۔

$$\frac{c(x+h) - c(x)}{h} = \text{ہفتہ میں } h \text{ ٹن اضافی فولاد پیدا کرنے سے لاگت میں اوسط اضافہ}$$

---

[۳۳] marginals
[۳۴] marginalcostofproduction
[۳۵] tonne,1000 kg

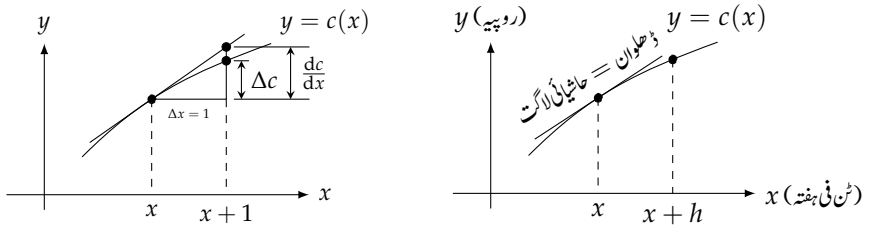

(ا) ہفتہ وار پیداوار بالمقابل لاگت

(ب) $\Delta x = 1$ اضافی پیداوار کی اضافی لاگت Δc تقریباً $\frac{dc}{dx}$ کے برابر ہے۔

شکل ۳.۳۵: حاشیائی لاگت پیداوار

۳۴۰۵ فی ہفتہ موجودہ پیداوار x ٹن ہونے کی صورت میں $h \to 0$ کرتے ہوئے اس نسبت کی حد اضافی فولاد پیدا کرنے کی حاشیائی لاگت دے گی (شکل ۳.۳۵-
۳۴۰۶ ا)۔

$$\frac{dc}{dx} = \lim_{h\to 0} \frac{c(x+h) - c(x)}{h} = \text{حاشیائی لاگت پیداوار}$$

۳۴۰۷ بعض اوقات ہم ایک اضافی اکائی پیداوار کی اضافی لاگت

$$\frac{\Delta c}{\Delta x} = \frac{c(x+1) - c(x)}{1}$$

۳۴۰۸ کو ہی حاشیائی لاگت پیداوار کہتے ہیں جو x پر $\frac{dc}{dx}$ کی تخمین ہے۔ یہ قابل قبول اس لئے ہے کہ x کے نزدیک c کے ڈھلوان میں تبدیلی زیادہ نہیں ہوتی لہٰذا
۳۴۰۹ یہاں $\Delta x = 1$ لیتے ہوئے حاصل سیکنٹ کے ڈھلوان کی قیمت حد $\frac{dc}{dx}$ کی قیمت کے بہت قریب ہو گی۔ عملاً x کی بڑی قیمتوں کے لئے یہ تخمین قابل
۳۴۱۰ قبول ہو گی (شکل ۳.۳۵-ب)۔

۳۴۱۱ مثال ۳.۲۴: حاشیائی لاگت فرض کریں کہ x اشیاء پیدا کرنے پر

$$c(x) = x^3 - 6x^2 + 15x$$

۳۴۱۲ روپیہ لاگت آتی ہے جب x کی قیمت 8 تا 30 ہو۔ ابھی آپ روزانہ 10 اشیاء پیدا کرتے ہیں۔ روزانہ ایک اضافی شے پیدا کرنے پر کتنی اضافی لاگت آئے
۳۴۱۳ گی؟

۳۴۱۴ حل: دس اشیاء بناتے ہوئے مزید ایک شے پیدا کرنے پر تقریباً $c'(10)$ اضافی لاگت آئے گی

$$c'(x) = \frac{d}{dx}(x^3 - 6x^2 + 15x) = 3x^2 - 12x + 15$$
$$c'(10) = 3(100) - 12(10) + 15 = 195$$

۳۴۱۵ جو 195 روپیہ کے برابر ہے۔ □

اگرچہ حقیقی اعمال کے کلیات عموماً نہیں پائے جاتے، نظریہ اقتصادیات ہمیں متوقع نتائج جاننے میں مدد کرتا ہے۔ یہ نظریہ جن تفاعل کا ذکر کرتا ہے انہیں عموماً موزوں وقفے پر کم درجے کی کثیر رکنیوں سے ظاہر کرنا ممکن ہوتا ہے۔ کبھی کثیر رکنی عموماً اس قابل ہوتی ہے کہ پیچیدہ مسئلے کو ظاہر کر سکے اور کبھی کثیر رکنی کا استعمال زیادہ مشکل بھی نہیں۔

مثال ۳.۲۵: حاشیائی شرح ٹیکس

اگر آپ کی موجودہ آمدن پر حاشیائی شرح ٹیکس 28 % ہو اور آپ کی آمدنی میں 10000 روپیہ کا اضافہ ہو تب آپ کو اضافی 2800 روپیہ ٹیکس ادا کرنا ہو گا۔ 28 % حاشیائی ٹیکس کا ہر گز یہ مطلب نہیں کہ آپ کو اپنی آمدن کا 28 % بطور ٹیکس ادا کرنا ہو گا۔ اس کا مطلب صرف یہ ہے کہ آپ کی موجودہ آمدنی I پر آمدنی بڑھنے کے لحاظ سے ٹیکس کی شرح $\frac{\mathrm{d}T}{\mathrm{d}I} = 0.28$ ہے۔ آپ کو ہر اضافی ایک روپیہ کی آمدن پر 0.28 روپیہ ٹیکس ادا کرنا ہو گا۔ اب ظاہر ہے اگر آپ کی آمدن بہت بڑھ جائے تب آپ ٹیکس کے نئے قالب میں شامل ہوں جائیں گے جہاں حاشیائی شرح ٹیکس غالباً زیادہ ہو گی۔ □

مثال ۳.۲۶: حاشیہ اگر x ہزار مٹھائی فروخت کرنے سے

$$r(x) = x^3 - 3x^2 + 12x$$

آمدنی حاصل ہو جہاں $5 \leq x \leq 20$ ہے تب 10 ہزار مٹھائی فروخت کرتے ہوئے حاشیائی آمدنی

$$r'(x) = \frac{\mathrm{d}}{\mathrm{d}x}(x^3 - 3x^2 + 12x) = 3x^2 - 6x + 12$$

ہو گی۔ حاشیائی لاگت کی طرح ایک اضافی اکائی فروخت کرنے سے آمدنی میں اضافے کو حاشیائی آمدنی پیش کرتی ہے۔ اگر آپ 10 ہزار مٹھائیاں فی ہفتہ فروخت کر رہے ہوں تب فی ہفتہ 11 ہزار مٹھائیاں فروخت کرنے سے آپ کی آمدنی میں درج ذیل روپیہ اضافہ متوقع ہو گا۔

$$r'(10) = 3(100) - 6(10) + 12 = 252$$

□

سوالات

محددی لکیر پر حرکت

سوال ۳.۱۲۱ تا سوال ۳.۱۲۶ میں $a \leq t \leq b$ کے لئے مساوات $s = f(t)$ محددی لکیر پر ایک جسم کا مقام دیتی ہے جہاں t کی اکائی سیکنڈ اور s کی اکائی میٹر ہے۔

ا. دیے گئے وقفے پر جسم کا ہٹاو اور سمتی رفتار حاصل کریں۔

ب. وقفے کے سروں پر جسم کی رفتار اور اسراع تلاش کریں۔

ج. جسم کب حرکت کی سمت تبدیل کرتا ہے (اگر ایسا کرتا ہو)؟

سوال ۳.۱۲۱: چاند پر آزاد گرنا $s = 0.8t^2, \quad 0 \leq t \leq 10$

سوال ۳.۱۲۲: مریخ پر آزاد گرنا $s = 1.86t^2, \quad 0 \le t \le 0.5$

سوال ۳.۱۲۳: $s = -t^3 + 3t^2 - 3t, \quad 0 \le t \le 3$

سوال ۳.۱۲۴: $s = \frac{t^4}{4} - t^3 + t^2, \quad 0 \le t \le 2$

سوال ۳.۱۲۵: $s = \frac{25}{t^2} - \frac{5}{t}, \quad 1 \le t \le 5$

سوال ۳.۱۲۶: $s = \frac{25}{t+5}, \quad -4 \le t \le 0$

سوال ۳.۱۲۷: s محور پر لمحہ t پر ایک جسم کا مقام $s = t^3 - 6t^2 + 9t$ ہے۔(ا) ان نقطوں پر جسم کا اسراع تلاش کریں جن پر جسم کی سمتی رفتار صفر ہو گی۔(ب) جب جسم کا اسراع صفر ہو اس لمحے پر جسم کی رفتار کیا ہو گی؟(ج) لمحہ $t = 0$ تا $t = 2$ کے دوران جسم کل کتنا فاصلہ طے کرتی ہے۔

سوال ۳.۱۲۸: وقت $t \ge 0$ پر s محور پر حرکت کرتے ہوئے جسم کی سمتی رفتار $v = t^2 - 4t + 3$ ہے۔(ا) جسم کا اسراع وہاں تلاش کریں جہاں جسم کی سمتی رفتار صفر ہے۔(ب) جسم کب آگے رخ اور کب پیچھے رخ حرکت کرتا ہے؟(ج) جسم کی سمتی رفتار کب بڑھتی اور کب گھٹتی ہے؟

آزاد گرنا

سوال ۳.۱۲۹: مریخ اور مشتری کی سطوح کے قریب آزاد گرنے کی مساوات بالترتیب $s = 1.86t^2$ اور $s = 11.44t^2$ ہیں جہاں t کی اکائی سیکنڈ اور s کی اکائی میٹر ہے۔ ساکن حال سے گرنے کے بعد کتنے وقت میں (مریخ اور مشتری پر) ایک جسم کی رفتار $27.8\,\mathrm{m\,s^{-1}}$ یعنی تقریباً $100\,\mathrm{km\,h^{-1}}$ ہو گی؟

سوال ۳.۱۳۰: سطح چاند سے انتصابی رخ $25\,\mathrm{m\,s^{-1}}$ کی رفتار سے پھینکا گیا پتھر t سیکنڈوں میں $s = 24t - 0.8t^2$ میٹر بلندی پر پہنچے گا۔

ا. لمحہ t پر پتھر کا اسراع کیا ہو گا؟ (یہ اسراع چاند پر کشش ثقل کا اسراع ہو گا۔)

ب. پتھر بلند ترین مقام تک کتنے دورانیے میں پہنچے گا؟

ج. پتھر کتنی بلندی تک پہنچ پائے گا؟

د. بلند ترین مقام کے نصف تک پتھر کتنی دیر میں پہنچے گا؟

ھ. پتھر کتنے وقت میں سطح چاند پر واپس گرے گا؟

سوال ۳.۱۳۱: سطح زمین پر ہوا کی غیر موجودگی میں سوال ۳.۱۳۰ کا پتھر t سیکنڈوں میں $s = 24t - 4.9t^2$ بلندی پر ہو گا۔

ا. لمحہ t پر پتھر کا اسراع کیا ہو گا؟ (یہ اسراع چاند پر کشش ثقل کا اسراع ہو گا۔)

ب. پتھر بلند ترین مقام تک کتنے دورانیے میں پہنچے گا؟

ج. پتھر کتنی بلندی تک پہنچ پائے گا؟

د. بلند ترین مقام کے نصف تک پتھر کتنی دیر میں پہنچے گا؟

ھ. پتھر کتنے وقت میں سطح چاند پر واپس گرے گا؟

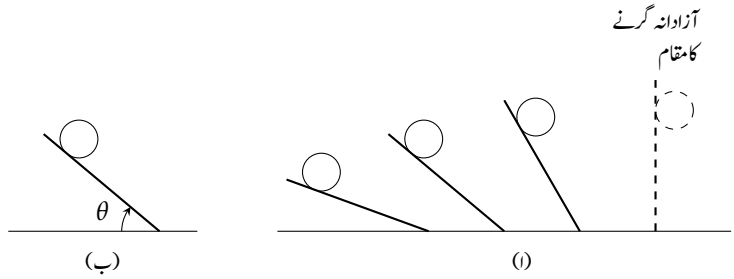

شکل ۳.۳۶: گلیلو کا تجربہ برائے آزادانہ گراؤ (سوال ۳.۱۳۵)

سوال ۳.۱۳۲: ہوا سے خالی ایک دنیا پر ٹھوس جسم کو انتصابی رخ $15\,\mathrm{m\,s^{-1}}$ کی ابتدائی رفتار سے پھینکا گیا۔ دنیا کی سطح پر ثقلی اسراع $g_s\,\mathrm{m\,s^{-2}}$ ہونے کی وجہ سے t سیکنڈوں میں جسم $s = 15t - \frac{1}{2}g_s t^2$ میٹر بلندی تک پہنچے گا۔ جسم بلند ترین مقام تک 20 سیکنڈوں میں پہنچتا ہے۔ اس دنیا میں ثقلی اسراع کتنا ہے؟

سوال ۳.۱۳۳: چاند پر ایک بندوق انتصابی رخ چلائی گئی۔ بندوق کی گولی t سیکنڈوں میں $s = 300t - 4.9t^2$ میٹر بلندی پر ہو گی۔ زمین پر یہی گولی t سیکنڈ بعد $s = 300t - 0.8t^2$ میٹر بلندی پر ہو گی۔ دونوں صورتوں میں گولی کتنی دیر بعد سطح پر گرے گی؟

سوال ۳.۱۳۴: مشتری پر ہوا کی غیر موجودگی میں یہی گولی t سیکنڈ بعد $s = 300t - 11.44t^2$ میٹر کی بلندی پر ہو گی جبکہ مریخ پر یہ $s = 300t - 1.86t^2$ میٹر کی بلندی پر ہو گی۔ دونوں صورتوں میں گولی کتنی بلندی تک پہنچے گی؟

سوال ۳.۱۳۵: گلیلو کا کلیہ برائے آزادانہ گرنا ایک پٹی کو مختلف زاویوں پر رکھتے ہوئے گلیلو نے پٹی پر گیند کی سمتی رفتار ناپتے ہوئے ایک کلیہ اخذ کیا جس کی تحدیدی صورت سے آزاد گرتے ہوئے جسم کی سمتی رفتار کا کلیہ حاصل کرنا مقصد تھا (شکل ۳.۳۶)۔ گلیلو نے دیکھا کہ حرکت کے شروع سے t سیکنڈ بعد سمتی رفتار کی قیمت t کے راست متناسب ہے یعنی $v = kt$ لکھا جا سکتا ہے۔ مستقل k کی قیمت کا دارومدار پٹی کے ڈھلوان پر ہے۔

موجودہ علامتیت استعمال کرتے ہوئے (شکل ۳.۳۶-ب) درحقیقت گلیلو نے درج ذیل کلیہ حاصل کیا جہاں فاصلے کی اکائی میٹر اور وقت کی اکائی سیکنڈ ہے۔

$$v = (9.8 \sin\theta)t$$

(ا) آزاد گرتے ہوئے گیند کی رفتار کیا ہو گی؟ (ب) سطح زمین کے قریب جسم کا اسراع کیا ہو گا؟

سوال ۳.۱۳۶: پیسا اگر گلیلو پیسا کی مینار سے توپ کی گولی 55 m بلندی سے گرنے دیتا تب t سیکنڈ بعد سطح زمین سے گولی کی بلندی $s = 55 - 4.9t^2$ ہوتی۔ (ا) لمحہ t پر گولی کی سمتی رفتار، رفتار اور اسراع کیا ہوتے؟ (ب) یہ زمین تک کتنی دیر میں پہنچتی؟ (ج) زمین پر پہنچنے کے لمحہ پر اس کی سمتی رفتار کیا ہوتی؟

ترسیم سے حرکت کے بارے میں معلومات اخذ کرنا

سوال ۳.۱۳۷: محوری لکیر پر جسم کی سمتی رفتار $v = \frac{\mathrm{d}s}{\mathrm{d}t} = f(t)$ کو درج ذیل شکل میں ترسیم کیا گیا ہے۔

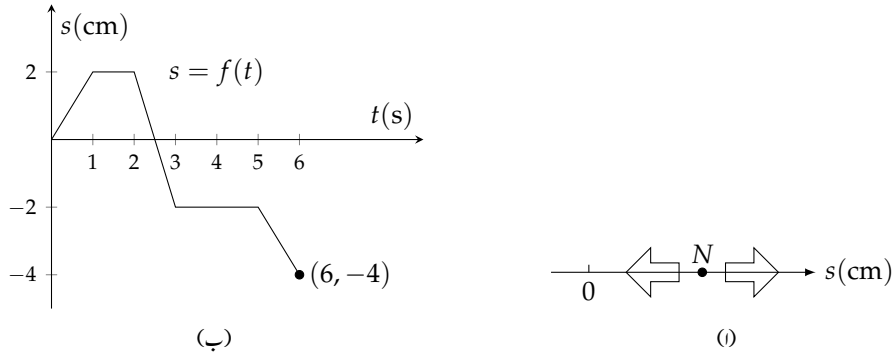

شکل ۳.۳۷: محوری لکیر پر حرکت (سوال ۳.۱۳۸)

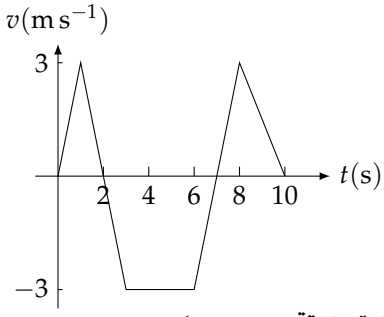

۳۴۸۰

۳۴۸۱ (ا) جسم کب رخ تبدیل کرتا ہے؟ (ب) کب جسم تقریباً مستقل رفتار سے حرکت کرتا ہے؟ (ج) دورانیہ $0 \leq t \leq 10$ کے لئے جسم کی رفتار ترسیم
۳۴۸۲ کریں۔ (د) جسم کا اسراع (جہاں معین ہو) ترسیم کریں۔

۳۴۸۳ سوال ۳.۱۳۸: محوری لکیر پر نقطہ N حرکت کرتا ہے۔ نقطے کا مقام بالمقابل وقت بھی ترسیم کیا گیا ہے (شکل ۳.۳۷)۔ (ا) نقطہ N کب بائیں رخ
۳۴۸۴ حرکت کرتا ہے؟ کب دائیں رخ حرکت کرتا ہے؟ کب ساکن ہے؟ (ب) اس کی سمتی رفتار اور رفتار (جہاں معین ہوں) ترسیم کریں۔

۳۴۸۵ سوال ۳.۱۳۹: راکٹ میں چند سیکنڈ کا ایندھن ہوتا ہے جو راکٹ کو کسی خاص بلندی تک پہنچاتا ہے اور جس کے بعد راکٹ کچھ دیر تک مزید بلند ہو کر واپس
۳۴۸۶ زمین کی جانب گرتا ہے۔ گرنے کے چند لمحات بعد خود کار پیراشوٹ کھلتا ہے جو راکٹ کو حفاظت کے ساتھ نہایت آہستہ زمین تک پہنچاتا ہے۔ ایک راکٹ کی
۳۴۸۷ حرکت شکل ۳.۳۸ میں ترسیم کی گئی ہے۔ (ا) ایندھن ختم ہونے کے لمحے پر راکٹ کی رفتار کتنی تھی؟ (ب) ایندھن کتنے سیکنڈوں تک کے لئے تھا؟ (ج)
۳۴۸۸ راکٹ کب بلند ترین مقام تک پہنچا اور بلند ترین مقام پر اس کی رفتار کتنی تھی؟ (د) پیراشوٹ کب کھلا اور اس لمحے پر راکٹ کی رفتار کتنی تھی؟ (ہ) پیراشوٹ کھلنے
۳۴۸۹ سے پہلے راکٹ کتنی دیر تک گرتا رہا؟ (و) راکٹ کا اسراع کب زیادہ سے زیادہ تھا؟ (ز) اسراع کب مستقل تھا اور اس کی قیمت کیا تھی؟

۳۴۹۰ سوال ۳.۱۴۰: محوری لکیر پر جسم کی رفتار $v = f(t)$ شکل ۳.۳۹ ترسیم کی گئی ہے۔ (ا) کب جسم آگے حرکت اور کب پیچھے حرکت کرتا ہے؟ جسم کی
۳۴۹۱ رفتار کب تیز؟ کب کم ہوتی ہے؟ (ب) جسم کا اسراع کب مثبت؟ کب منفی؟ اور کب صفر ہے؟ (ج) جسم کی رفتار زیادہ سے زیادہ کب ہوتی ہے؟ (د) کب جسم
۳۴۹۲ ایک لمحے سے زیادہ دورانیے کے لئے ساکن رہتا ہے؟

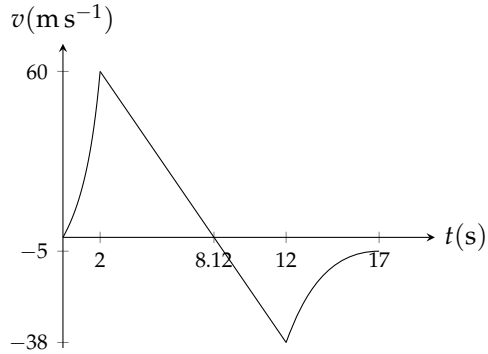

شکل ۳.۳۸: راکٹ کی حرکت (سوال ۳.۱۳۹)

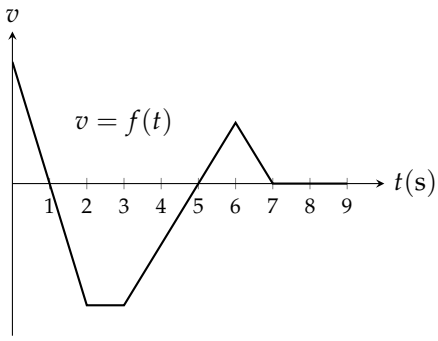

شکل ۳.۳۹: جسم کی حرکت (سوال ۳.۱۴۰)

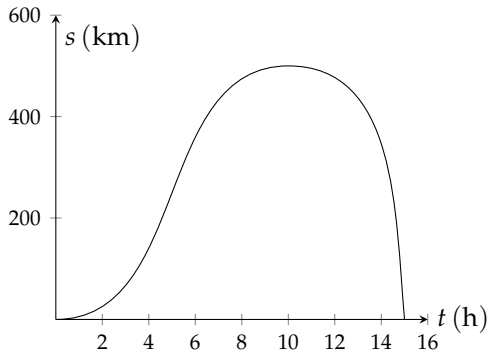

شکل ۳.۴۰: ٹرک کی حرکت (سوال ۳.۱۴۱)

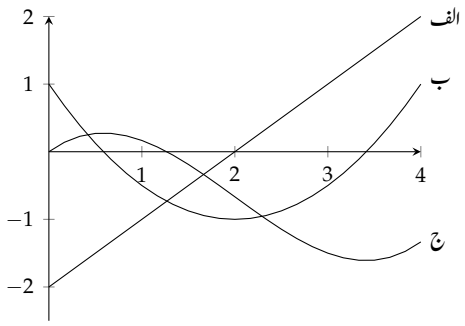

شکل ۳.۴۱: اشکال برائے سوال ۳.۱۴۲

سوال ۳.۱۴۱: ایک ٹرک $t = 0$ پر اڈے سے نکل کر دوسرے شہر مال پہنچا کر 15 گھنٹوں بعد اڈے پر واپس پہنچتا ہے۔ اس کا مقام بالمقابل وقت شکل ۳.۴۰ میں دکھایا گیا ہے۔ مثال ۳.۴ کی طرح $0 \leq t \leq 15$ کے لئے ٹرک کی سمتی رفتار $v = \frac{\mathrm{d}s}{\mathrm{d}t}$ ترسیم کریں۔ اسی طریقے کو دہراتے ہوئے سمتی رفتار کی ترسیم سے ٹرک کا اسراع $a = \frac{\mathrm{d}v}{\mathrm{d}t}$ ترسیم کریں۔

سوال ۳.۱۴۲: ایک جسم کا فاصلہ s، رفتار $v = \frac{\mathrm{d}s}{\mathrm{d}t}$ اور اسراع $a = \frac{\mathrm{d}v}{\mathrm{d}t}$ بالمقابل وقت t کو شکل ۳.۴۱ میں ترسیم کیا گیا ہے۔ ان میں کون سی ترسیم کون سی ہے؟ اپنے جواب کی وجہ پیش کریں۔

اقتصادیات

سوال ۳.۱۴۳: حاشیائی لاگت فرض کریں کہ x مشینوں کو بنانے میں $c(x) = 2000 + 100x - 0.1x^2$ روپیہ لاگت آتی ہے۔ (ا) پہلے 100 مشینوں کی اوسط لاگت کیا ہو گی؟ (ب) اگر 100 بنائے جا رہے ہوں تب حاشیائی لاگت کیا ہو گی؟ (ج) دکھائیں کہ 100 مشین بنانے کے بعد ایک اضافی مشین بنانے پر لاگت تقریباً حاشیائی لاگت کے برابر ہے۔

سوال ۳.۱۴۴: حاشیائی آمدنی۔ فرض کریں x کرسیاں فروخت کرنے سے $r(x) = 2000(1 - \frac{1}{x+1})$ روپیہ آمدنی ہوتی ہے۔(ا) x کرسیوں کی فروخت پر حاشیائی آمدنی کیا ہو گی؟(ب) فی ہفتہ 5 کرسیوں کے بجائے 6 کرسیاں فروخت کرنے سے آمدنی میں اضافے کو $r'(x)$ سے حاصل کریں۔(ج) $x \to \infty$ کرتے ہوئے تفاعل $r'(x)$ کی حدوں کی قیمت تلاش کریں۔اس قیمت کا کیا مطلب ہو گا؟

مزید استعمال

سوال ۳.۱۴۵: جرثوموں پر تجربے کے دوران ان کی خوراک میں جرثومہ مار دوا ملائی گئی۔ جرثوموں کی تعداد کچھ دیر تک بڑھتی رہی جس کے بعد ان کی تعداد کم ہونا شروع ہوئی۔ لمحہ t پر ان کی تعداد $b(t) = 10^6 + 10^4 t - 10^3 t^2$ تھی جہاں t کی اکائی گھنٹہ ہے۔شرح نمو کو (ا) $t = 0$ ؛ (ب) $t = 5$ ؛اور $t = 10$ پر تلاش کریں۔

سوال ۳.۱۴۶: لمحہ t پر ایک ٹینکی سے پانی کا انخلا $Q(t) = 200(30 - t^2)$ لٹر ہے جہاں t کی اکائی منٹ ہے۔دس منٹ بعد پانی کے انخلا کی شرح کیا ہے؟ پہلے دس منٹوں میں اوسط شرح اخراج کتنی ہے؟

سوال ۳.۱۴۷: ٹینکی کو خالی کرنے کے لئے گھر کے نلکے کھولے جاتے ہیں۔ نلکے کھولنے کے t منٹ بعد ٹینکی میں پانی کی گہرائی $y = 150(1 - \frac{t}{60})^2$ سنٹی میٹر ہے۔(ا) لمحہ t پر ٹینکی سے پانی کا انخلا $\frac{dy}{dt}$ کیا ہو گا؟(ب) پانی کی گہرائی کب زیادہ سے زیادہ تیزی سے کم ہوتی ہے؟ کب کم سے کم تیزی سے گہرائی گھٹتی ہے؟ان لمحات پر $\frac{dy}{dt}$ کی قیمت کیا ہے؟(ج) y اور $\frac{dy}{dt}$ کو ایک ساتھ ترسیم کریں اور $\frac{dy}{dt}$ کی علامت اور قیمتوں کے ساتھ y کے تعلق پر تبصرہ کریں۔

سوال ۳.۱۴۸: گول غبارے کا حجم $H = \frac{4}{3}\pi r^3$ رداس r کے ساتھ تبدیل ہوتا ہے۔(ا) رداس کے ساتھ حجم کی تبدیلی کی شرح $r = 10\,\text{cm}$ پر کیا ہو گی؟(ب) اگر رداس $10\,\text{cm}$ سے $12\,\text{cm}$ ہو تب حجم میں تبدیلی کتنی ہو گی؟

سوال ۳.۱۴۹: پرواز سے پہلے ہوائی جہاز زمین پر دوڑ کر ایک مخصوص رفتار تک پہنچتا ہے۔زمین پر دوڑ کے دوران جہاز $D = \frac{10}{9}t^2$ فاصلہ طے کرتا ہے جہاں فاصلے کی اکائی میٹر اور وقت کی اکائی سیکنڈ ہے۔اڑنے کے لئے درکار رفتار $200\,\text{km}\,\text{h}^{-1}$ ہے۔جہاز کتنے وقت میں اڑ پاتا ہے اور اڑنے سے پہلے یہ زمین پر کتنا فاصلہ طے کرتا ہے؟

سوال ۳.۱۵۰: جزیرہ ہوائی کی آتش فشاں پہاڑی ۱۹۵۹ نومبر کے مہینے میں جزیرہ ہوائی کے ایک آتش فشاں پھٹ پڑا اور ہوا میں $580\,\text{m}$ کی بلندی تک **لاوا**[۳۶] اگلنے لگا جو عالمی رکارڈ ہے۔لاوا کی ابتدائی رفتار کتنی تھی؟

کمپیوٹر کا استعمال

سوال ۳.۱۵۱ تا سوال ۳.۱۵۴ میں s محور پر حرکت کرتے ہوئے جسم کا مقام لمحہ t پر تعین کرتا تفاعل $s = f(t)$ دیتا ہے۔اس تفاعل کو سمتی رفتار تفاعل $v = \frac{ds}{dt} = f'(t)$ اور تفاعل اسراع $a = \frac{dv}{dt} = f''(t)$ کے ساتھ اکٹھا ترسیم کریں۔ v اور a کی قیمتوں اور علامت کے لحاظ سے s کے رویہ پر بحث کریں۔بحث میں درج ذیل شامل کریں۔

ا. کب جسم لمحاتی ساکن ہے؟

ب. کب جسم بائیں (یا نیچے) اور کب دائیں (یا اوپر) رخ حرکت کرتا ہے؟

ج. یہ سمت کب تبدیل کرتا ہے؟

د. اس کی رفتار کب بڑھتی اور کب گھٹتی ہے؟

---

[۳۶] lava

ھ. یہ کب تیز تر اور کب آہستہ تر حرکت کرتا ہے؟

و. مبدا سے جسم دور ترین کب ہوتا ہے؟

سوال ۳.۱۵۱: $s = 200t - 16t^2, \quad 0 \le t \le 12.5$

سوال ۳.۱۵۲: $s = t^2 - 3t + 2, \quad 0 \le t \le 5$

سوال ۳.۱۵۳: $s = t^3 - 6t^2 + 7t, \quad 0 \le t \le 4$

سوال ۳.۱۵۴: $s = 4 - 7t + 6t^2, \quad 0 \le t \le 4$

۳.۴ تکونیاتی تفاعل کا تفرق

بہت سارے طبعی اعمال، مثلاً برقناطیسی امواج، دل کی دھڑکن، موسم، وغیرہ، دوری ہیں۔ اعلیٰ احصاء کا ایک مسئلہ کہتا ہے کہ ہر دوری تفاعل جو حقیقت میں استعمال ہوتا ہو سائن اور کوسائن تفاعل کا مجموعہ لکھا جا سکتا ہے۔ یوں تبدیلی پر غور کرنے میں سائن اور کوسائن تفاعل اہم کردار ادا کرتے ہیں۔ اس حصے میں چھ تکونیاتی تفاعل کا تفرق کرنا سکھایا جائے گا۔

چند اہم حد

پہلے چند عدم مساوات اور حد پیش کیے جاتے ہیں۔ زاویوں کی پیمائش ریڈیئن میں ہے۔

مسئلہ ۳.۳: اگر θ کی پیمائش ریڈیئن میں ہو تب درج ذیل ہوں گے۔

$$-|\theta| < \sin\theta|\theta| \quad \text{اور} \quad -|\theta| < 1 - \cos\theta < |\theta|$$

ثبوت: ان عدم مساوات کو ثابت کرنے کے لئے ہم شکل ۳.۴۲ پر غور کرتے ہیں جہاں θ ربع اول میں واقع ہے لہٰذا اکائی دائرے کی قوس NA کی لمبائی $|\theta|$ ہو گی۔ چونکہ (سیدھے) قطعہ AN کی لمبائی قوس AN کی لمبائی θ سے کم ہے لہٰذا قائمہ مثلث ANQ میں مسئلہ فیثاغورث کی مدد سے

$$\sin^2\theta + (1 - \cos\theta)^2 = (AN)^2 < \theta^2$$

لکھا جا سکتا ہے۔ مربع کی قیمت مثبت ہوتی ہے لہٰذا بائیں طرف دونوں اجزاء مثبت ہیں۔ دو مثبت قیمتوں کا مجموعہ دونوں کے انفرادی قیمت سے زیادہ ہوتا ہے لہٰذا

$$\sin^2\theta < \theta^2, \quad (1 - \cos\theta)^2 < \theta^2$$

لکھے جا سکتے ہیں جن کا جذر لینے سے

$$|\sin\theta| < |\theta|, \quad |1 - \cos\theta| < |\theta|$$

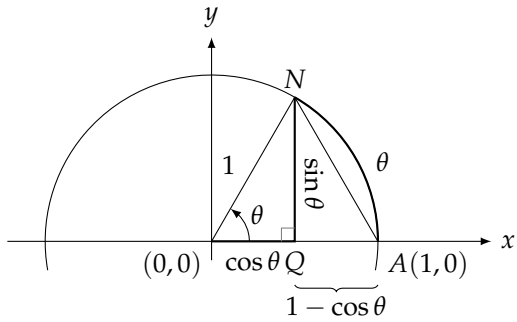

شکل ۳.۴۲: اس شکل کی جیومیٹری، جس میں $\theta > 0$ ہے، سے عدم مساوات $\sin^2\theta + (1-\cos\theta)^2 < \theta^2$ لکھی جا سکتی ہے۔

۳۵۵۰ یعنی

$$-|\theta| < \sin\theta < |\theta|\,, \quad -|\theta| < 1-\cos\theta < |\theta|$$

۳۵۵۱ حاصل ہوتے ہیں۔

۳۵۵۲ □

۳۵۵۳ مثال ۳.۲۷: دکھائیں کہ $\theta = 0$ پر $\sin\theta$ اور $\cos\theta$ استمراری ہیں یعنی:

$$\lim_{\theta\to 0}\sin\theta = 0, \quad \lim_{\theta\to 0}\cos\theta = 1$$

۳۵۵۴ حل: $\theta \to 0$ کرنے سے $|\theta|$ اور $-|\theta|$ دونوں صفر کے نزدیک تر ہوتے ہیں۔ یوں مسئلہ ۳.۳ اور مسئلہ پنچ سے مذکورہ بالا حد ثابت ہوتی ہیں۔ □

۳۵۵۵ تفاعل $f(\theta) = \frac{\sin\theta}{\theta}$ جہاں θ کی پیمائش ریڈیئن میں ہے کو شکل ۳.۴۳ میں ترسیم کیا گیا ہے جس کو دیکھ کر ایسا معلوم ہوتا ہے جیسے $\theta = 0$ پر
۳۵۵۶ قابل ہٹاو عدم استمرار پایا جاتا ہے۔ اس شکل کے مطابق $\lim_{\theta\to 0} f(\theta) = 1$ ہو گا۔

۳۵۵۷ مسئلہ ۳.۴:

$$\lim_{\theta\to 0}\frac{\sin\theta}{\theta} = 1 \qquad (\theta \text{ کی پیمائش ریڈیئن میں ہے}) \tag{۱}$$

۳۵۵۸ ثبوت: ہم بائیں ہاتھ حد اور دائیں ہاتھ حد کو 1 کے برابر ثابت کرتے ہیں۔ یوں دو طرفہ حد بھی 1 ہو گی۔

۳۵۵۹ دائیں ہاتھ حد کو 1 کے برابر ثابت کرنے کی خاطر ہم θ کی قیمت مثبت اور $\frac{\pi}{2}$ سے کم رکھتے ہیں (شکل ۳.۴۴)۔ آپ دیکھ سکتے ہیں کہ

$$\Delta MAN \text{ رقبہ} < MAN \text{ رقبہ خط} < \Delta MAT \text{ رقبہ}$$

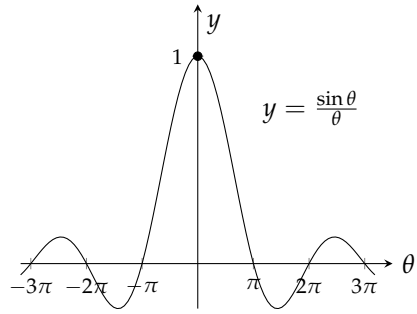

شکل ۳.۴۳: تفاعل $f(\theta) = \frac{\sin\theta}{\theta}$ جہاں θ کی پیمائش ریڈیئن میں ہے۔

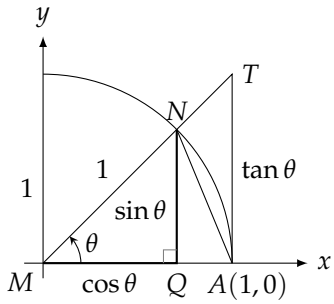

شکل ۳.۴۴: برائے مسئلہ ۳.۴

۳۵۶۰ ہے۔ان رقبوں کو θ کی صورت

$$\Delta MAN \text{ رقبہ} = \frac{1}{2} \times \text{قاعدہ} \times \text{عمود} = \frac{1}{2}(1)(\sin\theta) = \frac{1}{2}\sin\theta$$
$$MAN \text{ رقبہ خطہ} = \frac{1}{2}r^2\theta = \frac{1}{2}(1)^2\theta = \frac{\theta}{2}$$
$$\Delta MAT \text{ رقبہ} = \frac{1}{2} \times \text{قاعدہ} \times \text{عمود} = \frac{1}{2}(1)(\tan\theta) = \frac{1}{2}\tan\theta$$

۳۵۶۱ میں لکھتے ہوئے درج ذیل تعلق حاصل ہوتا ہے

$$\frac{1}{2}\sin\theta < \frac{1}{2}\theta < \frac{1}{2}\tan\theta$$

۳۵۶۲ جس کو $\frac{1}{2}\sin\theta$ سے تقسیم کرنے سے

$$1 < \frac{\theta}{\sin\theta} < \frac{1}{\cos\theta}$$

۳۵۶۳ حاصل ہو گا۔اس کا مقلوب لیتے ہیں جس سے عدم مساوات کی علامتیں الٹ ہوتی ہیں۔

$$1 > \frac{\sin\theta}{\theta} > \cos\theta$$

۳۵۶۴ چونکہ $\lim_{\theta\to 0^+}\cos\theta = 1$ ہے لہٰذا مسئلہ بیچ کے تحت درج ذیل ہو گا۔

$$\lim_{\theta\to 0^+}\frac{\sin\theta}{\theta} = 1$$

۳۵۶۵ آخر میں دھیان رہے کہ $\sin\theta$ اور θ دونوں طاق تفاعل ہیں لہٰذا $f(\theta) = \frac{\sin\theta}{\theta}$ جفت تفاعل ہوگا جس کی ترسیم y محور کے دونوں اطراف یکساں
۳۵۶۶ ہوگا (شکل ۳.۴۳)۔ اس تشاکلی کی وجہ سے بائیں ہاتھ حد بھی موجود ہوگی اور اس کی قیمت بھی 1 ہوگی۔

$$\lim_{\theta\to 0^-} \frac{\sin\theta}{\theta} = 1 = \lim_{\theta\to 0^+} \frac{\sin\theta}{\theta}$$

۳۵۶۷ یوں صفحہ ۱۲۳ پر مسئلہ ۲.۵ کے تحت $\lim_{\theta\to 0} \frac{\sin\theta}{\theta} = 1$ ہوگا۔

۳۵۶۸ □

۳۵۶۹ مسئلہ ۳.۴ کو قواعد حد اور معلوم تکونیاتی مماثل کے ساتھ ملاتے ہوئے دیگر تکونیاتی حد تلاش کی جا سکتی ہیں۔

۳۵۷۰ مثال ۳.۲۸: دکھائیں کہ $\lim_{h\to 0} \frac{\cos h - 1}{h} = 0$ ہے۔
۳۵۷۱ حل: نصف زاویہ کلیہ استعمال کرکے $\cos h = 1 - 2\sin^2\frac{h}{2}$ لکھتے ہوئے درج ذیل ہوگا۔

$$\begin{aligned}
\lim_{h\to 0} \frac{\cos h - 1}{h} &= \lim_{h\to 0} -\frac{2\sin^2\frac{h}{2}}{h} \\
&= -\lim_{\theta\to 0} \frac{\sin\theta}{\theta}\sin\theta \qquad (\theta = \frac{h}{2}) \\
&= -(1)(0) = 0
\end{aligned}$$

۳۵۷۲ □

۳۵۷۳ سائن تفاعل کا تفرق

۳۵۷۴ تفاعل $y = \sin\theta$ کا تفرق جاننے کی خاطر ہم مثال ۳.۲۸ کی حدیں اور مسئلہ ۳.۴ کو کلیہ

$$\sin(x+h) = \sin x\cos h + \cos x\sin h$$

۳۵۷۵ کے ساتھ ملا کر حل کرتے ہیں۔

$$\begin{aligned}
\frac{\mathrm{d}y}{\mathrm{d}x} &= \lim_{h\to 0}\frac{\sin(x+h)-\sin x}{h}\\
&= \lim_{h\to 0}\frac{(\sin x\cos h+\cos x\sin h)-\sin x}{h}\\
&= \lim_{h\to 0}\frac{\sin x(\cos h-1)+\cos x\sin h}{h}\\
&= \lim_{h\to 0}\left(\sin x\cdot\frac{\cos h-1}{h}\right)+\lim_{h\to 0}\left(\cos x\cdot\frac{\sin h}{h}\right)\\
&= \sin x\cdot\lim_{h\to 0}\frac{\cos h-1}{h}+\cos x\cdot\lim_{h\to 0}\frac{\sin h}{h}\\
&= \sin x\cdot 0+\cos x\cdot 1\\
&= \cos x
\end{aligned}$$

۳۵۷۶ یوں سائن تفاعل کا تفرق کوسائن تفاعل ہے۔

$$\frac{\mathrm{d}}{\mathrm{d}x}(\sin x)=\cos x$$

۳۵۷۷ مثال ۳.۲۹:

ا.

$$y=x^2-\sin x:\quad \frac{\mathrm{d}y}{\mathrm{d}x}=2x-\frac{\mathrm{d}}{\mathrm{d}x}(\sin x)\quad \text{(قاعدہ فرق)}$$
$$=2x-\cos x$$

ب.

$$y=x^2\sin x:\quad \frac{\mathrm{d}y}{\mathrm{d}x}=x^2\frac{\mathrm{d}}{\mathrm{d}x}(\sin x)+2x\sin x\quad \text{(قاعدہ حاصل ضرب)}$$
$$=x^2\cos x+2x\sin x$$

ج.

$$y=\frac{\sin x}{x}:\quad \frac{\mathrm{d}y}{\mathrm{d}x}=\frac{x\cdot\frac{\mathrm{d}}{\mathrm{d}x}(\sin x)-\sin x\cdot 1}{x^2}\quad \text{قاعدہ حاصل تقسیم}$$
$$=\frac{x\cos x-\sin x}{x^2}$$

۳۵۷۸ □

۳۵۷۹ آپ نے دیکھا اگر زاویے کی پیمائش ریڈیئن میں ہو $\lim_{\theta\to 0}\frac{\sin\theta}{\theta} = 1$ ہو گا اور $\sin x$ کا تفرق $\cos x$ ہو گا۔ یہی وجہ ہے کہ احصاء کے
۳۵۸۰ میدان میں زاویہ درجات کے بجائے ریڈیئن میں ناپا جاتا ہے۔

۳۵۸۱ کوسائن کا تفرق

۳۵۸۲ کوسائن کا تفرق حاصل کرنے کی خاطر ہمیں کلیہ

$$\cos(x+h) = \cos x\cos h - \sin x\sin h$$

۳۵۸۳ استعمال کرنا ہو گا۔

$$\begin{aligned}
\frac{\mathrm{d}y}{\mathrm{d}x}(\cos x) &= \lim_{h\to 0}\frac{\cos(x+h)-\cos x}{h} \qquad \text{(تفرق کی تعریف)}\\
&= \lim_{h\to 0}\frac{(\cos x\cos h - \sin x\sin h)-\cos x}{h}\\
&= \lim_{g\to 0}\frac{\cos x(\cos h - 1) - \sin x\sin h}{h}\\
&= \lim_{h\to 0}\cos x\cdot\frac{\cos h-1}{h} - \lim_{h\to 0}\sin x\cdot\frac{\sin h}{h}\\
&= \cos x\cdot\lim_{h\to 0}\frac{\cos h-1}{h} - \sin x\cdot\lim_{h\to 0}\frac{\sin h}{h}\\
&= \cos x\cdot 0 - \sin x\cdot 1 \qquad \text{(مثال ۳.۲۸ اور مسئلہ ۳.۴)}\\
&= -\sin x
\end{aligned}$$

۳۵۸۴ یوں کوسائن کا تفرق منفی سائن ہو گا۔

$$\frac{\mathrm{d}}{\mathrm{d}x}(\cos x) = -\sin x$$

۳۵۸۵ درج بالا تعلق کو شکل ۳.۴۵ میں دکھایا گیا ہے۔ آپ دیکھ سکتے ہیں جہاں کوسائن تفاعل کا ڈھلوان صفر ہے (یعنی $x = -\pi, 0, \pi$) وہاں اس کے تفرق
۳۵۸۶ یعنی $y' = -\sin x$ کی قیمت صفر ہے۔ اسی طرح جہاں کوسائن تفاعل کا ڈھلوان زیادہ سے زیادہ بڑھتا یا گھٹتا ہے (مثلاً بالترتیب $x = -\frac{\pi}{2}$ اور
۳۵۸۷ $x = \frac{\pi}{2}$ پر) وہاں اس کے تفرق کی (بالترتیب مثبت اور منفی) چوٹی پائی جاتی ہے۔

۳۵۸۸ مثال ۳.۳۰:

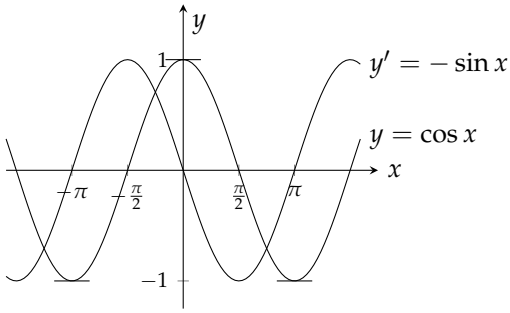

شکل ۴.۳.۵: تفاعل $y = \cos x$ کا ڈھلوان تفاعل $y' = -\sin x$ دیتا ہے۔

ا.

$$\begin{aligned} y &= 5x + \cos x \\ \frac{\mathrm{d}y}{\mathrm{d}x} &= \frac{\mathrm{d}}{\mathrm{d}x}(5x) + \frac{\mathrm{d}}{\mathrm{d}x}(\cos x) \\ &= 5 - \sin x \end{aligned}$$

ب.

$$\begin{aligned} y &= \sin x \cos x \\ \frac{\mathrm{d}y}{\mathrm{d}x} &= \sin x \frac{\mathrm{d}}{\mathrm{d}x}(\cos x) + \cos x \frac{\mathrm{d}}{\mathrm{d}x}(\sin x) \quad \text{(قاعدہ حاصل ضرب)} \\ &= \sin x(-\sin x) + \cos x(\cos x) \\ &= \cos^2 x - \sin^2 x \end{aligned}$$

ج.

$$\begin{aligned} y &= \frac{\cos x}{1 - \sin x} \\ \frac{\mathrm{d}y}{\mathrm{d}x} &= \frac{(1 - \sin x)\frac{\mathrm{d}}{\mathrm{d}x}(\cos x) - \cos x \frac{\mathrm{d}}{\mathrm{d}x}(1 - \sin x)}{(1 - \sin x)^2} \quad \text{(قاعدہ حاصل تقسیم)} \\ &= \frac{(1 - \sin x)(-\sin x) - \cos x(0 - \cos x)}{(1 - \sin x)^2} \\ &= \frac{1 - \sin x}{(1 - \sin x)^2} \qquad (\sin^2 x + \cos^2 x = 1) \\ &= \frac{1}{1 - \sin x} \end{aligned}$$

□

سادہ ہارمونی حرکت

اسپرنگ سے لٹکے جسم کو نیچے کھینچ کر چھوڑنے سے جسم اوپر نیچے دہراتا ہوا حرکت کرتا ہے جو سادہ ہارمونی حرکت کی ایک مثال ہے۔ اگلی مثال میں قوت روک (مثلاً مزاحمت) سے پاک حرکت پر غور کیا گیا ہے۔

مثال ۳.۳۱: اسپرنگ سے لٹکے جسم کو لمحہ $t = 0$ پر ساکن حال سے 5 اکائی نیچے کھینچ کر چھوڑتے ہوئے اوپر نیچے حرکت کرنے دیا جاتا ہے۔ لمحہ t پر جسم کا مقام درج ذیل ہے۔

$$s = 5\cos t$$

جسم کی سمتی رفتار اور جسم کا اسراع تلاش کریں۔

حل:

$$s = 5\cos t \qquad \text{ہم مقام}$$

$$v = \frac{\mathrm{d}s}{\mathrm{d}t} = \frac{\mathrm{d}}{\mathrm{d}t}(5\cos t) = 5\frac{\mathrm{d}}{\mathrm{d}t}(\cos t) = -5\sin t \qquad \text{سے سمتی رفتار}$$

$$a = \frac{\mathrm{d}v}{\mathrm{d}t} = \frac{\mathrm{d}}{\mathrm{d}t}(-5\sin t) = -5\frac{\mathrm{d}}{\mathrm{d}t}(\sin t) = -5\cos t \qquad \text{اور اسراع حاصل کرتے ہیں}$$

□

درج بالا مثال میں حاصل مساواتوں سے ہم درج ذیل اخذ کرتے ہیں۔

۱. وقت گزرنے کے ساتھ محور s پر جسم $s = 5$ اور $s = -5$ کے بیچ حرکت کرتا ہے۔ حرکت کا حیطہ 5 ہے جبکہ اس کا تعدد 2π ہے جو $\cos t$ کا تعدد ہے۔

۲. تفاعل $\sin t$ کی زیادہ سے زیادہ قیمت اس لمحہ پر ہو گی جب $\cos t = 0$ ہو۔ یوں جسم کی رفتار $|v| = 5|\sin t|$ اس لمحہ پر زیادہ سے زیادہ ہو گی جب $\cos t = 0$ ہو یعنی جب جسم ساکن حال کے مقام سے گزرتا ہے۔

جسم کی رفتار اس لمحے صفر ہوتی ہے جب $\sin t = 0$ ہو جو حرکت کے وقفے کے آخری نقطوں پر ہوتا ہے یعنی جب $\cos t = \mp 1$ ہوتا ہے۔

۳. جسم کا اسراع $a = -5\cos t$ اس لمحہ صفر ہو گا جب $\cos t = 0$ ہو یعنی جب جسم ساکن حال کے مقام پر ہو۔ کسی دوسرے مقام پر اسپرنگ یا تو جسم کو دھکیل رہا ہو گا اور یا جسم کو روکنے کی کوشش کر رہا ہو گا۔ اسراع کی مطلق قیمت مبدا سے دور تر نقطے پر زیادہ سے زیادہ ہو گی جہاں $\cos t = \mp 1$ ہو گا۔

جھٹکا

اسراع میں یکدم تبدیلی کو "جھٹکا" کہتے ہیں۔ جھٹکے سے مراد زیادہ اسراع نہیں بلکہ اسراع میں یکدم تبدیلی ہے۔ گاڑی میں سواری کے دوران گلاس سے پانی جھٹکے کی وجہ سے گرتا ہے۔ تفرق $\frac{\mathrm{d}^3 s}{\mathrm{d}t^3}$ جھٹکا پیدا کرتا ہے۔

۳۶۱۰ تعریف: اسراع کے تفرق کو جھٹکا[۳۷] کہتے ہیں۔ اگر لمحہ t پر جسم کا مقام $s = f(t)$ ہو تب t پر اس کو درج ذیل جھٹکا محسوس ہو گا۔

$$j = \frac{\mathrm{d}a}{\mathrm{d}t} = \frac{\mathrm{d}^3 s}{\mathrm{d}t^3}$$

۳۶۱۱ □

۳۶۱۲ بعض لوگوں کی طبیعت گاڑی میں صفر کرنے سے خراب ہوتی ہے۔ اس کی وجہ اسراع میں غیر متوقع تبدیلیاں ہیں۔ سڑک پر نظر رکھنے سے اسراع میں تبدیلی
۳۶۱۳ زیادہ غیر متوقع نہیں ہو گی اور سوار کی طبیعت بھی کم خراب ہو گی۔

۳۶۱۴ مثال ۳.۳۲:

۳۶۱۵ ا. مستقل ثقلی اسراع $g = 9.8\,\mathrm{m\,s^{-2}}$ کا جھٹکا صفر ہو گا:

$$j = \frac{\mathrm{d}g}{\mathrm{d}t} = 0$$

۳۶۱۶ اسی لئے ایک جگہ پر بیٹھنے سے ہماری طبیعت خراب نہیں ہوتی۔

۳۶۱۷ ب. مثال ۳.۳۱ کی سادہ ہارمونی حرکت کا جھٹکا

$$\begin{aligned} j &= \frac{\mathrm{d}a}{\mathrm{d}t} = \frac{\mathrm{d}}{\mathrm{d}t}(-5\cos t) \\ &= 5\sin t \end{aligned}$$

۳۶۱۸ ہو گا جس کی زیادہ سے زیادہ مطلق قیمت اس لمحے پر ہو گی جب $\sin t = \mp 1$ ہو جو مبدا پر ہو گا جہاں اسراع کی سمت تبدیل ہوتی ہے۔

۳۶۱۹ □

۳۶۲۰ دیگر بنیادی تفاعلات کے تفرق

۳۶۲۱ چونکہ $\sin x$ اور $\cos x$ متغیر x کے قابل تفرق تفاعل ہیں لہٰذا ان سے متعلقہ درج ذیل تفاعل ہر اس x پر قابل تفرق ہوں گے جہاں یہ معین
۳۶۲۲ ہوں۔

$$\tan x = \frac{\sin x}{\cos x} \qquad \sec x = \frac{1}{\cos x}$$

$$\cot x = \frac{\cos x}{\sin x} \qquad \csc x = \frac{1}{\sin x}$$

---

[۳۷] jerk

۳۲۳ ان کے تفرق، جو درج ذیل ہیں، کو قاعدہ حاصل تقسیم سے حاصل کیا جا سکتا ہے۔

$$\begin{aligned}\frac{\mathrm{d}}{\mathrm{d}x}(\tan x) &= \sec^2 x\\ \frac{\mathrm{d}}{\mathrm{d}x}(\cot x) &= -\csc^2 x\\ \frac{\mathrm{d}}{\mathrm{d}x}(\sec x) &= \sec x \tan x\\ \frac{\mathrm{d}}{\mathrm{d}x}(\csc x) &= -\csc x \cot x\end{aligned} \tag{۲}$$

۳۲۴ درج بالا حاصل کرنے کی ترکیب کو دیکھنے کی خاطر ہم $\tan x$ اور $\sec x$ کے تفرق لینا دکھاتے ہیں۔ سوال ۳.۲۲۱ اور سوال ۳.۲۲۲ میں آپ سے باقی
۳۲۵ تعلق حاصل کرنے کو کہا گیا ہے۔

۳۲۶ مثال ۳.۳۳: $y = \tan x$ کا تفرق تلاش کریں۔
۳۲۷ حل:

$$\begin{aligned}\frac{\mathrm{d}}{\mathrm{d}x}(\tan x) = \frac{\mathrm{d}}{\mathrm{d}x}\left(\frac{\sin x}{\cos x}\right) &= \frac{\cos x \frac{\mathrm{d}}{\mathrm{d}x}(\sin x) - \sin x \frac{\mathrm{d}}{\mathrm{d}x}(\cos x)}{\cos^2 x} && \text{(قاعدہ حاصل تقسیم)}\\ &= \frac{\cos x \cos x - \sin x(-\sin x)}{\cos^2 x}\\ &= \frac{\cos^2 x + \sin^2 x}{\cos^2 x}\\ &= \frac{1}{\cos^2 x} = \sec^2 x\end{aligned}$$

۳۲۸ □

۳۲۹ مثال ۳.۳۴: اگر $y = \sec x$ ہو تب y'' تلاش کریں۔
۳۳۰ حل:

$$\begin{aligned}y &= \sec x\\ y' &= \sec x \tan x && \text{(مساوات ۲)}\\ y'' &= \frac{\mathrm{d}}{\mathrm{d}x}(\sec x \tan x)\\ &= \sec x \frac{\mathrm{d}}{\mathrm{d}x}(\tan x) + \tan x \frac{\mathrm{d}}{\mathrm{d}x}(\sec x) && \text{(قاعدہ حاصل ضرب)}\\ &= \sec x(\sec^2 x) + \tan x(\sec x \tan x)\\ &= \sec^3 x + \sec x \tan^2 x\end{aligned}$$

□

مثال ۳.۳۵:

ا.

$$\frac{\mathrm{d}}{\mathrm{d}x}(3x+\cot x) = 3 + \frac{\mathrm{d}}{\mathrm{d}x}(\cot x) = 3 - \csc^2 x$$

ب.

$$\begin{aligned}\frac{\mathrm{d}}{\mathrm{d}x}\left(\frac{2}{\sin x}\right) &= \frac{\mathrm{d}}{\mathrm{d}x}(2\csc x) = 2\frac{\mathrm{d}}{\mathrm{d}x}(\csc x)\\ &= 2(-\csc x\cot x) = -2\csc x\cot x\end{aligned}$$

□

تکونیاتی تفاعل کا استمرار

چونکہ چھ بنیادی تکونیات تفاعل اپنے پورے دائرہ کار میں قابل تفرق ہیں لہٰذا مسئلہ ۳.۱ کے تحت یہ اپنے پورے دائرہ کار میں استمراری بھی ہوں گے۔ اس کا مطلب ہے کہ $\sin x$ اور $\cos x$ تمام x کے لئے استمراری ہیں، $\tan x$ اور $\sec x$ تمام x کے لئے استمراری ہیں ماسوائے جب x کی قیمت $\frac{\pi}{2}$ کا عددی صحیح مضرب ہو، $\csc x$ اور $\cot x$ تمام x کے لئے استمراری ہیں ماسوائے جب x کی قیمت π کی عدد صحیح مضرب ہو۔ ہر ان تفاعل کے لئے جہاں $f(c)$ معین ہو وہاں $\lim_{x\to c} f(x) = f(x)$ ہو گا۔ نتیجتاً ہم تکونیاتی تفاعل کے کئی الجبرائی ملاپ کی حدیں بلاواسطہ پُر کرنے سے حاصل کر سکتے ہیں۔

مثال ۳.۳۶: $\lim\limits_{x\to 0}\frac{\sqrt{2+\sec x}}{\cos(\pi-\tan x)} = \frac{\sqrt{2+\sec 0}}{\cos(\pi-\tan 0)} = \frac{\sqrt{2+1}}{\cos(\pi-0)} = \frac{\sqrt{3}}{-1} = -\sqrt{3}$ □

مسئلہ ۳.۴ کی مدد سے دیگر حد کی تلاش

θ کو جس طرح بھی ظاہر کیا جائے مساوات $\lim_{\theta\to 0}\frac{\sin\theta}{\theta} = 1$ مطمئن ہو گی۔ یوں درج ذیل ہوں گے

$$\lim_{x\to 0}\frac{\sin x}{x} = 1,\ \theta = x;\quad \lim_{x\to 0}\frac{\sin 7x}{7x} = 1,\ \theta = 7x;\quad \lim_{x\to 0}\frac{\sin\frac{2x}{3}}{\frac{2x}{3}} = 1,\ \theta = \frac{2x}{3}$$

جہاں $x \to 0$ کرنا $\theta \to 0$ کرنے کے مترادف ہے۔ یہ جانتے ہوئے اور زاویہ کو ریڈیئن میں ناپتے ہوئے ہم متعلقہ حد تلاش کر سکتے ہیں۔

مثال ۳.۳۷:

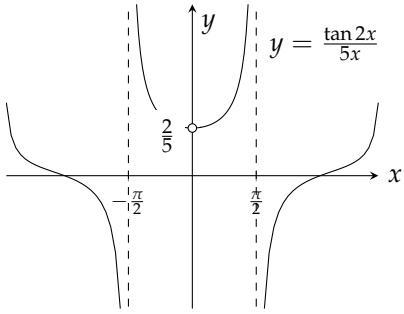

شکل ۳.۴۶: ترسیم برائے مثال ۳.۳۷

ا.

$$\begin{aligned}\lim_{x\to 0}\frac{\sin 2x}{5x} &= \lim_{x\to 0}\frac{(2/5)\cdot\sin 2x}{(2/5)\cdot 5x} \qquad \text{(تفاعل کو مسئلہ ۳.۴ کی درکار صورت میں لکھا گیا ہے)}\\ &= \frac{2}{5}\lim_{x\to 0}\frac{\sin 2x}{2x}\\ &= \frac{2}{5}\cdot 1 = \frac{2}{5}\end{aligned}$$

ب.

$$\begin{aligned}\lim_{x\to 0}\frac{\tan 2x}{5x} &= \lim_{x\to 0}\left(\frac{\sin 2x}{5x}\cdot\frac{1}{\cos 2x}\right) \qquad \left(\tan 2x = \frac{\sin 2x}{\cos 2x}\right)\\ &= \left(\lim_{x\to 0}\frac{\sin 2x}{5x}\right)\left(\lim_{x\to 0}\frac{1}{\cos 2x}\right)\\ &= \left(\frac{2}{5}\right)\left(\frac{1}{\cos 0}\right) = \frac{2}{5}\end{aligned}$$

۳۴۴۵ شکل ۳.۴۶ سے رجوع کریں۔ □

۳۴۴۶ مثال ۳.۳۸: درج ذیل میں $\theta = t - \frac{\pi}{2}$ لے کر حل حاصل کیا گیا ہے۔ یوں $t \to \frac{\pi}{2}$ سے مراد $\theta \to 0$ ہوگا۔

$$\lim_{t\to\frac{\pi}{2}}\frac{\sin(t-\frac{\pi}{2})}{t-\frac{\pi}{2}} = \lim_{\theta\to 0}\frac{\sin\theta}{\theta} = 1$$

۳۴۴۷ □

۳۴۴۸ احصاء کے میدان کے علاوہ تفاعل $\frac{\sin x}{x}$ دیگر میدانوں مثلاً کوانٹم میکانیات، برقی انجینئری، وغیرہ میں بھی پایا جاتا ہے۔

سوالات

سوال ۳.۱۵۵ تا سوال ۳.۱۶۶ میں $\frac{dy}{dx}$ تلاش کریں۔

سوال ۳.۱۵۵: $y = -10x + 3\cos x$

سوال ۳.۱۵۶: $y = \frac{2}{x} + 3\sin x$

سوال ۳.۱۵۷: $y = \csc x - 4\sqrt{x} + 7$

سوال ۳.۱۵۸: $y = x^2 \cot x - \frac{1}{x^2}$

سوال ۳.۱۵۹: $y = (\sec x + \tan x)(\sec x - \tan x)$

سوال ۳.۱۶۰: $y = (\sin x + \cos x)\sec x$

سوال ۳.۱۶۱: $y = \frac{\cot x}{1+\cot x}$

سوال ۳.۱۶۲: $y = \frac{\cos x}{1+\sin x}$

سوال ۳.۱۶۳: $y = \frac{4}{\cos x} + \frac{1}{\tan x}$

سوال ۳.۱۶۴: $y = \frac{\cos x}{x} + \frac{x}{\cos x}$

سوال ۳.۱۶۵: $y = x^2 \sin x + 2x\cos x - 2\sin x$

سوال ۳.۱۶۶: $y = x^2 \cos x - 2x\sin x - 2\cos x$

سوال ۳.۱۶۷ تا سوال ۳.۱۷۰ میں $\frac{ds}{dt}$ تلاش کریں۔

سوال ۳.۱۶۷: $s = \tan t - t$

سوال ۳.۱۶۸: $s = t^2 - \sec t + 1$

سوال ۳.۱۶۹: $s = \frac{1+\csc t}{1-\csc t}$

سوال ۳.۱۷۰: $s = \frac{\sin t}{1-\cos t}$

سوال ۳.۱۷۱ تا سوال ۳.۱۷۴ میں $\frac{dr}{d\theta}$ تلاش کریں۔

سوال ۳.۱۷۱: $r = 4 - \theta^2 \sin\theta$

سوال ۳.۱۷۲: $r = \theta\sin\theta + \cos\theta$

سوال ۳.۱۷۳: $r = \sec\theta\csc\theta$

سوال ۳.۱۷۴: $r = (1 + \sec\theta)\sin\theta$

سوال ۳.۱۷۵ تا سوال ۳.۱۷۸ میں $\frac{dp}{dq}$ تلاش کریں۔

سوال ۳.۱۷۵: $p = 5 + \frac{1}{\cot q}$

۳۷۵ سوال ۳.۱۷۶: $p = (1 + \csc q)\cos q$

۳۷۶ سوال ۳.۱۷۷: $p = \frac{\sin q + \cos q}{\cos q}$

۳۷۷ سوال ۳.۱۷۸: $p = \frac{\tan q}{1+\tan q}$

۳۷۸ سوال ۳.۱۷۹: (ا) $y = \csc x$ اور (ب) $y = \sec x$ کے لئے y'' تلاش کریں۔

۳۷۹ سوال ۳.۱۸۰: (ا) $y = -2\sin x$ اور (ب) $y = 9\cos x$ کے لئے $y^{(4)} = \frac{\mathrm{d}^4 y}{\mathrm{d}x^4}$ تلاش کریں۔

۳۸۰ سوال ۳.۱۸۱ تا سوال ۳.۱۸۶ میں حد تلاش کریں۔

۳۸۱ سوال ۳.۱۸۱: $\lim\limits_{x\to 2} \sin(\frac{1}{x} - \frac{1}{2})$

۳۸۲ سوال ۳.۱۸۲: $\lim\limits_{x\to \pi/6} \sqrt{1 + \cos(\pi \csc x)}$

۳۸۳ سوال ۳.۱۸۳: $\lim\limits_{x\to 0} \sec[\cos x + \pi \tan(\frac{\pi}{4\sec x}) - 1]$

۳۸۴ سوال ۳.۱۸۴: $\lim\limits_{x\to 0} \sin \frac{\pi + \tan x}{\tan x - 2\sec x}$

۳۸۵ سوال ۳.۱۸۵: $\lim\limits_{t\to 0} \tan(1 - \frac{\sin t}{t})$

۳۸۶ سوال ۳.۱۸۶: $\lim\limits_{\theta\to 0} \cos(\frac{\pi\theta}{\sin\theta})$

۳۸۷ سوال ۳.۱۸۷ تا سوال ۳.۲۰۲ میں حد تلاش کریں۔

۳۸۸ سوال ۳.۱۸۷: $\lim\limits_{\theta\to 0} \frac{\sin\sqrt{2}\theta}{\sqrt{2}\theta}$

۳۸۹ سوال ۳.۱۸۸: $\lim\limits_{t\to 0} \frac{\sin kt}{t}, \quad (k = \text{مستقل})$

۳۹۰ سوال ۳.۱۸۹: $\lim\limits_{y\to 0} \frac{\sin 3y}{4y}$

۳۹۱ سوال ۳.۱۹۰: $\lim\limits_{h\to 0^-} \frac{h}{\sin 3h}$

۳۹۲ سوال ۳.۱۹۱: $\lim\limits_{x\to 0} \frac{\tan 2x}{x}$

۳۹۳ سوال ۳.۱۹۲: $\lim\limits_{t\to 0} \frac{2t}{\tan t}$

۳۹۴ سوال ۳.۱۹۳: $\lim\limits_{x\to 0} \frac{x\csc 2x}{\cos 5x}$

۳۹۵ سوال ۳.۱۹۴: $\lim\limits_{x\to 0} 6x^2 \cot x \csc 2x$

سوال ۳.۱۹۵: $\lim_{x\to 0} \frac{x+x\cos x}{\sin x \cos x}$

سوال ۳.۱۹۶: $\lim_{x\to 0} \frac{x^2-x+\sin x}{2x}$

سوال ۳.۱۹۷: $\lim_{t\to 0} \frac{\sin(1-\cos t)}{1-\cos t}$

سوال ۳.۱۹۸: $\lim_{h\to 0} \frac{\sin(\sin h)}{\sin h}$

سوال ۳.۱۹۹: $\lim_{\theta\to 0} \frac{\sin\theta}{\sin 2\theta}$

سوال ۳.۲۰۰: $\lim_{x\to 0} \frac{\sin 5x}{\sin 4x}$

سوال ۳.۲۰۱: $\lim_{x\to 0} \frac{\tan 3x}{\sin 8x}$

سوال ۳.۲۰۲: $\lim_{y\to 0} \frac{\sin 3y \cot 5y}{y \cot 4y}$

مماسی خطوط

سوال ۳.۲۰۳ تا سوال ۳.۲۰۶ میں دیے گئے دائرہ کار پر تفاعل ترسیم کریں اور دیے گئے نقطوں پر تفاعل کے مماس بھی ساتھ ہی ترسیم کریں۔ تفاعل اور مماس کی مساواتوں کو اپنی اپنی ترسیم کے قریب لکھیں۔

سوال ۳.۲۰۳: $y = \sin x,\ -3\pi/2 \le x \le 2\pi,\ x = -\pi, 0, 2\pi$

سوال ۳.۲۰۴: $y = \tan x,\ -\pi/2 < x < \pi/2,\ x = -\pi/3, 0, \pi/3$

سوال ۳.۲۰۵: $y = \sec x,\ -\pi/2 < x < \pi/2,\ x = -\pi/3, \pi/4$

سوال ۳.۲۰۶: $y = 1 + \cos x,\ -3\pi/2 \le x \le 2\pi,\ x = -\pi/3, 3\pi/2$

کیا سوال ۳.۲۰۷ تا سوال ۳.۲۱۰ کے دائرہ کار $0 \le x \le 2\pi$ میں افقی مماس پایا جاتا ہے؟ اگر ہاں، تو کہاں؟ اگر نہیں تو کیوں نہیں؟ ہو سکتا ہے کمپیوٹر پر تفاعل ترسیم کرنے سے مدد ملے۔

سوال ۳.۲۰۷: $y = x + \sin x$

سوال ۳.۲۰۸: $y = 2x + \sin x$

سوال ۳.۲۰۹: $y = x - \cot x$

سوال ۳.۲۱۰: $y = x + 2\cos x$

سوال ۳.۲۱۱: منحنی $y = \tan x$ پر $-\pi/2 < x < \pi/2$ کے بیچ وہ تمام نقطے تلاش کریں جہاں مماس خط $y = 2x$ کے متوازی ہیں۔ منحنی اور ان مماس ایک ساتھ ترسیم کریں۔

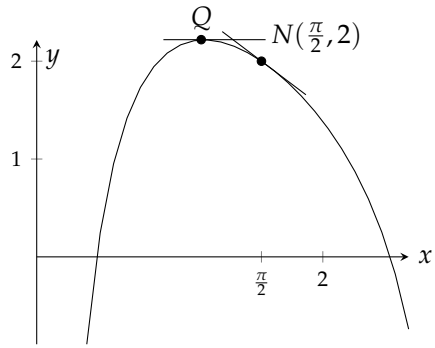

شکل ۳.۴۷: تفاعل $y = 4 + \cot x - 2\csc x$ کی منحنی (سوال ۳.۲۱۳)

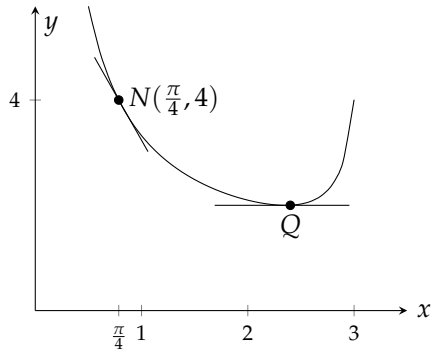

شکل ۳.۴۸: تفاعل $y = 1 + \sqrt{2}\csc x + \cot x$ کی منحنی (سوال ۳.۲۱۴)

سوال ۳.۲۱۲: منحنی $y = \cot x,\ 0 < x < \pi$ پر وہ تمام نقطے تلاش کریں جہاں مماس خط $y = -x$ کے متوازی ہیں۔ منحنی اور مماس ایک ساتھ ترسیم کریں۔

سوال ۳.۲۱۳: نقطہ N اور نقطہ Q پر شکل ۳.۴۷ کی منحنی کے مماس کی مساواتیں حاصل کریں۔ Q پر مماس افقی ہے۔

سوال ۳.۲۱۴: نقطہ N اور نقطہ Q پر شکل ۳.۴۸ کی منحنی کے مماس کی مساواتیں حاصل کریں۔ Q پر مماس افقی ہے۔

سادہ ہارمونی حرکت

سوال ۳.۲۱۵ تا سوال ۳.۲۱۵ میں محوری لکیر s پر جسم کا مقام $s = f(t)$ دیا گیا ہے جہاں فاصلے کی اکائی میٹر اور وقت کی اکائی سیکنڈ ہے۔ لمحہ $t = \pi/4$ سیکنڈ پر جسم کی سمتی رفتار، رفتار، اسراع اور جھٹکا تلاش کریں۔

سوال ۳.۲۱۵: $s = 2 - 2\sin t$

سوال ۳.۲۱۶: $s = \sin t + \cos t$

نظریہ اور مزید مثالیں

سوال ۳.۲۱۷: کیا c کی کوئی قیمت درج ذیل تفاعل کو $x = 0$ پر استمراری بنا سکتی ہے؟ اپنے جواب کی وجہ پیش کریں۔

$$f(x) = \begin{cases} \frac{\sin^2 3x}{x^2}, & x \neq 0 \\ c, & x = 0 \end{cases}$$

سوال ۳.۲۱۸: کیا b کی کوئی قیمت درج ذیل تفاعل کو $x = 0$ پر (ا) استمراری (ب) قابل تفرق بنا سکتی ہے؟ اپنے جوابات کی وجہ پیش کریں۔

$$g(x) = \begin{cases} x + b, & x < 0 \\ \cos x, x \geq 0 \end{cases}$$

سوال ۳.۲۱۹: $\frac{d^{999}}{dx^{999}}(\cos x)$ تلاش کریں۔

سوال ۳.۲۲۰: $\frac{d^{725}}{dx^{725}}(\sin x)$ تلاش کریں۔

سوال ۳.۲۲۱: x کے لحاظ سے (ا) $\sec x$ اور (ب) $\csc x$ کے تفرق کا کلیہ اخذ کریں۔

سوال ۳.۲۲۲: x کے لحاظ سے $\cot x$ کے تفرق کا کلیہ اخذ کریں۔

کمپیوٹر کا استعمال

سوال ۳.۲۲۳: $-\pi \leq x \leq 2\pi$ کے لئے $y = \cos x$ ترسیم کریں۔ ساتھ ہی $h = 1, 0.5, 0.3, 0.1$ لیتے ہوئے درج ذیل ترسیم کریں۔

$$y = \frac{\cos(x+h) - \cos x}{h}$$

اب $h = -1, -0.5, -0.3$ کے لئے اس کو ترسیم کریں۔ دیکھیں $h \to 0^+$ اور $h \to 0^-$ کرنے سے کیا ہوتا ہے؟ کیا ہو رہا ہے؟

سوال ۳.۲۲۴: وسطی فرق حاصل تقسیم **وسطی تفریقی حاصل تقسیم**[۳۸]

$$\frac{f(x+h) - f(x-h)}{2h}$$

کو اعدادی تراکیب میں $f'(x)$ کی تخمین کے لئے استعمال کیا جاتا ہے۔ اگر $f'(x)$ موجود ہو تب $h \to 0$ کرتے ہوئے یہ تفاعل کا تفرق دیتا ہے جو h کی کسی بھی قیمت کے لئے عموماً **فرمٹے تفریقی حاصل تقسیم**[۳۹]

$$\frac{f(x+h) - f(x)}{h}$$

سے بہتر ہوتا ہے (شکل ۳.۴۹)۔ (ا) یہ دیکھنے کی خاطر کہ $f(x) = \sin x$ کا وسطی تفریقی حاصل تقسیم کتنا تیزی سے $f'(x) = \cos x$ تک پہنچتا ہے، $h = 1, 0.5, 0.3$ لیتے ہوئے وقفہ $[-\pi, 2\pi]$ پر $y = \cos x$ اور

$$y = \frac{\sin(x+h) - \sin(x-h)}{2h}$$

کو اکٹھا ترسیم کریں۔ سوال ۳.۲۲۳ میں h کی انہیں قیمتوں کی ترسیمات کے ساتھ موازنہ کریں۔

(ب) یہ دیکھنے کی خاطر کہ $f(x) = \cos x$ کا وسطی تفریقی حاصل تقسیم کتنا تیزی سے $f'(x) = -\sin x$ تک پہنچتا ہے، $h = 1, 0.5, 0.3$ لیتے ہوئے وقفہ $[-\pi, 2\pi]$ پر $y = -\sin x$ اور

$$y = \frac{\cos(x+h) - \cos(x-h)}{2h}$$

---

[۳۸] centereddifferencequotient
[۳۹] Fermat'sdifferencequotient

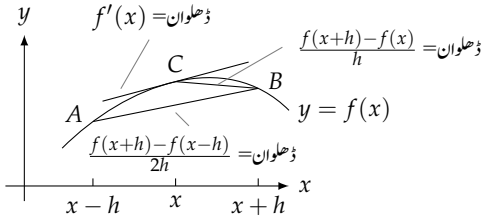

شکل ۳.۴۹: فرمٹ تفریقی حاصل تقسیم سے وسطی تفریقی حاصل تقسیم بہتر ڈھلوان دیتا ہے۔

۳۷۴۷ کو اکٹھا ترسیم کریں۔ سوال ۳.۲۲۳ میں h کی انہیں قیمتوں کی ترسیمات کے ساتھ موازنہ کریں۔

۳۷۴۸ سوال ۳.۲۲۵: وسطی تفریقی حاصل تقسیم کے لئے انتباہ بعض اوقات x پر ناقابل تفرق $f(x)$ کے لئے بھی وسطی تفریقی حاصل تقسیم

$$\frac{f(x+h)-f(x-h)}{2h}$$

۳۷۴۹ کا $h \to 0$ کرتے ہوئے حد موجود ہو سکتا ہے۔ مثال کے طور پر $f(x) = |x|$ لیں اور

$$\lim_{h\to 0} \frac{|0+h| - |0-h|}{2h}$$

۳۷۵۰ کا حساب لگائیں۔ آپ دیکھیں گے کہ یہ حد موجود ہے اگرچہ $x = 0$ پر $f(x) = |x|$ کا تفرق غیر موجود ہے۔

۳۷۵۱ سوال ۳.۲۲۶: دائرہ کار $(-\pi/2, \pi/2)$ پر $y = \tan x$ اور اس کا تفرق ایک ساتھ ترسیم کریں۔ کیا ترسیم کا (ا) کم ترین ڈھلوان (ب)
۳۷۵۲ زیادہ سے زیادہ ڈھلوان پایا جاتا ہے؟ کیا ڈھلوان کبھی منفی بھی ہوتا ہے؟ اپنے جواب کی وجہ پیش کریں۔

۳۷۵۳ سوال ۳.۲۲۷: دائرہ کار $0 < x < \pi$ پر $y = \cot x$ اور اس کا تفرق ایک ساتھ ترسیم کریں۔ کیا ترسیم کا (ا) کم ترین ڈھلوان (ب) زیادہ
۳۷۵۴ سے زیادہ ڈھلوان پایا جاتا ہے؟ کیا ڈھلوان کبھی مثبت بھی ہوتا ہے؟ اپنے جواب کی وجہ پیش کریں۔

۳۷۵۵ سوال ۳.۲۲۸: وقفہ $-2 \le x \le 2$ پر $y = \frac{\sin x}{x}$ ، $y = \frac{\sin 2x}{x}$ اور $y = \frac{\sin 4x}{x}$ کو اکٹھا ترسیم کریں۔ y محور کو ترسیمات
۳۷۵۶ کہاں کہاں قطع کرتی نظر آتی ہیں؟ کیا ترسیمات محور کو حقیقتاً قطع کرتی ہیں؟ $x \to 0$ کرتے ہوئے آپ $y = \frac{\sin 5x}{x}$ اور $y = \frac{\sin(-3x)}{x}$
۳۷۵۷ کی ترسیمات سے کیا توقع کرتے ہیں؟ اور کیوں؟ k کی مزید مختلف قیمتوں کے لئے $y = \frac{\sin kx}{x}$ سے کیا توقع کی جا سکتی ہے؟ اپنے جوابات کی وجوہات پیش
۳۷۵۸ کریں۔

۳۷۵۹ سوال ۳.۲۲۹: درجات بالمقابل ریڈیئن x کو درجات میں ناپتے ہوئے $\sin x$ اور $\cos x$ کے تفرق پر غور کرنے کی خاطر درج ذیل اقدام کرتے
۳۷۶۰ ہیں۔

۳۷۶۱ ا. زاویہ کو درجات میں رکھ کر کمپیوٹر پر

$$f(h) = \frac{\sin h}{h}$$

ترسیم کرتے ہوئے $\lim_{h\to 0} f(h)$ کا اندازہ لگائیں۔ اس اندازے کا $\frac{\pi}{180}$ کے ساتھ موازنہ کریں۔ کیا اس حد کی قیمت $\frac{\pi}{180}$ کے برابر ہونے کی کوئی وجہ پیش کی جا سکتی ہے۔

ب. زاویہ کو درجات میں ہی رکھتے ہوئے درج ذیل کا اندازہ لگائیں۔

$$\lim_{h\to 0} \frac{\cos h - 1}{h}$$

ج. اب $\sin x$ کے تفرق کو دوبارہ دیکھیں۔ زاویہ کو درجات میں رکھتے ہوئے اس عمل سے گزرتے ہوئے $\sin x$ کا تفرق حاصل کریں۔

د. اسی طرح زاویہ کو درجات میں رکھتے ہوئے $\cos x$ کے تفرق کا عمل استعمال کرتے ہوئے $\cos x$ کے تفرق کا کلیہ حاصل کریں۔

ھ. بلند رتبی تفرق لیتے ہوئے زاویہ کو درجات میں رکھنے کے مسئلے جلد سامنے آتے ہیں۔ $y = \sin x$ اور $y = \cos x$ کے لئے y'' اور y''' تلاش کریں۔

۳.۵ زنجیری قاعدہ

ہم $\sin x$ اور $x^2 - 4$ کا تفرق لینا جانتے ہیں۔ مرکب تفاعل مثلاً $\sin(x^2 - 4)$ کا تفرق **زنجیری قاعدہ**[۴۰] کی مدد سے حاصل کیا جاتا ہے جس کے تحت قابل تفرق تفاعل کے مرکب کا تفرق ان کے انفرادی تفرق کا حاصل ضرب ہو گا۔ احصاء میں تفرق کے حصول کے لئے زنجیری قاعدہ غالباً سب سے زیادہ استعمال کیا جاتا ہے۔ اس حصے میں زنجیری قاعدہ اور اس کے استعمال پر غور کیا جائے گا۔ شروع چند مثالوں سے کرتے ہیں۔

مثال ۳.۳۹: تفاعل $y = 6x - 10 = 2(3x - 5)$ حقیقتاً تفاعل $y = 2u$ اور $u = 3x - 5$ کا مرکب ہے۔ ان تینوں تفاعلات کے تفرق کا آپس میں تعلق کیا ہے؟

حل: ان تفاعل کے تفرق حاصل کرتے ہیں۔

$$\frac{\mathrm{d}y}{\mathrm{d}x} = 6, \quad \frac{\mathrm{d}y}{\mathrm{d}u} = 2, \quad \frac{\mathrm{d}u}{\mathrm{d}x} = 3$$

چونکہ $6 = 2 \cdot 3$ ہے لہٰذا اس مثال میں درج ذیل ہے۔

$$\frac{\mathrm{d}y}{\mathrm{d}x} = \frac{\mathrm{d}y}{\mathrm{d}u} \cdot \frac{\mathrm{d}u}{\mathrm{d}x}$$

□

کیا تعلق

$$\frac{\mathrm{d}y}{\mathrm{d}x} = \frac{\mathrm{d}y}{\mathrm{d}u} \cdot \frac{\mathrm{d}u}{\mathrm{d}x}$$

---

[۴۰] chainrule

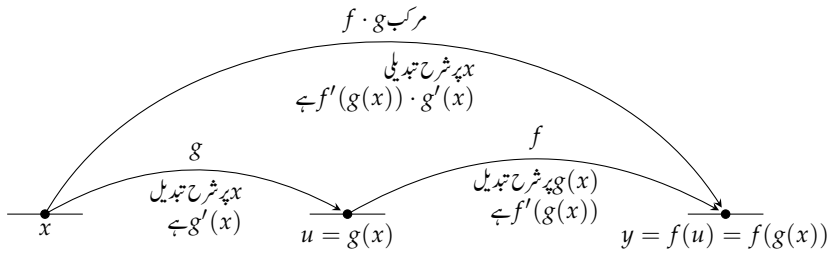

شکل ۳.۵۰: $g(x)$ پر f کے تفرق اور x پر g کے تفرق کا حاصل ضرب x پر مرکب $f \cdot g$ کا تفرق دے گا۔

۳۷۸۱ ایک اتفاق ہے؟ تفرق کو شرح تبدیلی تصور کرنے سے یہ تعلق مناسب لگتا ہے۔ تفاعل $y = f(u)$ اور $u = g(x)$ کے لئے اگر u سے y
۳۷۸۲ دگنی تیزی سے تبدیل ہو اور x سے y تین گنا تیز تبدیل ہو تب ہم توقع کریں گے کہ x سے y چھ گنا زیادہ تیزی سے تبدیل ہو گا۔

۳۷۸۳ آئیں دوسرا تفاعل لے کر دیکھیں۔

۳۷۸۴ مثال ۳.۴۰: $y = 9x^4 + 6x^2 + 1 = (3x^2+1)^2$ کو $y = u^2$ اور $u = 3x^2 + 1$ کا مرکب لکھا جا سکتا
۳۷۸۵ ہے۔ تفرق لیتے ہوئے

$$\begin{aligned}\frac{\mathrm{d}y}{\mathrm{d}u} \cdot \frac{\mathrm{d}u}{\mathrm{d}x} &= 2u \cdot 6x \\ &= 2(3x^2+1) \cdot 6x \\ &= 36x^3 + 12x\end{aligned}$$

۳۷۸۶ اور

$$\begin{aligned}\frac{\mathrm{d}y}{\mathrm{d}x} &= \frac{\mathrm{d}}{\mathrm{d}x}(9x^4 + 6x^2 + 1) \\ &= 36x^3 + 12x\end{aligned}$$

۳۷۸۷ حاصل ہوتے ہیں اور دوبارہ درج ذیل لکھنا ممکن ہے۔

$$\frac{\mathrm{d}y}{\mathrm{d}x} = \frac{\mathrm{d}y}{\mathrm{d}u} \cdot \frac{\mathrm{d}u}{\mathrm{d}x}$$

۳۷۸۸ □

۳۷۸۹ x پر مرکب تفاعل $f(g(x))$ کا تفرق $g(x)$ پر f کے تفرق اور x پر g کے تفرق کا حاصل ضرب ہے۔ اس کو زنجیری قاعدہ کہتے ہیں (شکل
۳۷۹۰ ۳.۵۰)۔

مسئلہ ۳.۵: **زنجیری قاعدہ**

اگر $u = g(x)$ پر $f(u)$ قابل تفرق ہو اور x پر $g(x)$ قابل تفرق ہو تب x پر مرکب تفاعل

$$(f \circ g)(x) = f(g(x))$$

قابل تفرق ہو گا اور

$$(f \circ g)'(x) = f'(g(x)) \cdot g'(x) \tag{۱}$$

ہو گا۔ **لیبنز علامتیے**[۴۱] استعمال کرتے ہوئے، اگر $y = f(u)$ اور $u = g(x)$ ہوں تب

$$\frac{\mathrm{d}y}{\mathrm{d}x} = \frac{\mathrm{d}y}{\mathrm{d}u} \cdot \frac{\mathrm{d}u}{\mathrm{d}x} \tag{۲}$$

ہو گا جہاں $\frac{\mathrm{d}y}{\mathrm{d}u}$ کو $u = g(x)$ پر حاصل کیا جاتا ہے۔

زنجیری قاعدے کو

$$\frac{\Delta y}{\Delta x} = \frac{\Delta y}{\Delta u} \cdot \frac{\Delta u}{\Delta x}$$

لکھ کر $\Delta x \quad \to \quad 0$ کر کے حد لینے سے زنجیری قاعدہ ثابت نہیں کیا جا سکتا چونکہ عین ممکن ہے کہ x میں تبدیلی سے u میں تبدیلی Δu صفر ہو۔ زنجیری قاعدہ ثابت کرنے کی خاطر ہمیں حصہ ۴.۷ میں پیش کیے گئے تصورات کی ضرورت ہو گی۔ یہ ثبوت اس وقت پیش کیا جائے گا جب ہم اس کو سمجھنے کے قابل ہوں گے۔

مثال ۳.۴۱: $y = \sqrt{x^2+1}$ کا تفرق تلاش کریں۔

حل: یہاں $y = f(g(x))$ یعنی $u = x^2 + 1$ اور $f(u) = \sqrt{u}$ ہیں۔ چونکہ f اور g کے تفرق

$$f'(u) = \frac{1}{2\sqrt{u}}, \quad g'(x) = 2x$$

ہیں لہٰذا زنجیری قاعدہ کے تحت درج ذیل ہو گا۔

$$\begin{aligned}
\frac{\mathrm{d}y}{\mathrm{d}x} &= \frac{\mathrm{d}}{\mathrm{d}x} f(g(x)) = f'(g(x)) \cdot g'(x) \\
&= \frac{1}{2\sqrt{g(x)}} \cdot g'(x) = \frac{1}{2\sqrt{x^2+1}} \cdot (2x) \\
&= \frac{x}{\sqrt{x^2+1}}
\end{aligned}$$

□

---

[۴۱] Leibniznotation

بیرونی و اندرونی قاعدہ

بعض اوقات زنجیری قاعدے کو درج ذیل نقطہ نظر سے دیکھنا مفید ثابت ہوتا ہے۔ اگر $y = f(g(x))$ ہو تب مساوات ۲ کہتی ہے

$$\frac{\mathrm{d}y}{\mathrm{d}x} = f'[g(x)] \cdot g'(x) \tag{۳}$$

ہو گا۔ الفاظ میں مساوات ۳ کہتی ہے $\mathrm{d}y / \mathrm{d}x$ حاصل کرنے کی خاطر اندرونی تفاعل "g" کو نظر انداز کر کے "بیرونی تفاعل" f کا تفرق لیں اور اس کو "اندرونی تفاعل" g کے تفرق سے ضرب دیں۔

مثال ۳.۴۲:

$$\frac{\mathrm{d}}{\mathrm{d}x} \overbrace{\sin}^{\text{بیرونی}} \underbrace{(x^2+x)}_{\text{اندرونی}} = \overbrace{\cos}^{\text{تفرق بیرونی}} \underbrace{(x^2+x)}_{\text{اندرونی نظر انداز}} \cdot \underbrace{(2x+1)}_{\text{تفرق اندرونی}}$$

□

زنجیری قاعدے کا بار بار اطلاق

بعض اوقات ہم زنجیری قاعدے کو دو یا دو سے زیادہ مرتبہ استعمال کرتے ہوئے تفاعل کا تفرق حاصل کرتے ہیں۔ درج ذیل مثال میں ایسا کیا گیا ہے۔

مثال ۳.۴۳: $g(t) = \tan(5 - \sin 2t)$ کا تفرق تلاش کریں۔

$$\begin{aligned}
g'(t) &= \frac{\mathrm{d}}{\mathrm{d}t}(\tan(5-\sin 2t)) \\
&= \sec^2(5-\sin 2t) \cdot \frac{\mathrm{d}}{\mathrm{d}t}(5-\sin 2t) && \text{$u = 5 - \sin 2t$ لے کر $\tan u$ کا تفرق} \\
&= \sec^2(5-\sin 2t) \cdot (0 - (\cos 2t) \cdot \frac{\mathrm{d}}{\mathrm{d}t}(2t)) && \text{$u = 2t$ لے کر $5 - \sin u$ کا تفرق} \\
&= \sec^2(5-\sin 2t) \cdot (-\cos 2t) \cdot 2 \\
&= -2(\cos 2t)\sec^2(5-\sin 2t)
\end{aligned}$$

□

زنجیری قاعدہ پر مبنی تفرق کے کلیات

تفرق کے حصول کے کئی کلیات میں زنجیری قاعدہ در ساختہ موجود ہوتا ہے۔ اگر f متغیر u کا قابل تفرق تفاعل ہو اور u متغیر x کا قابل تفرق تفاعل ہو تب $y = f(u)$ کو زنجیری قاعدہ

$$\frac{\mathrm{d}y}{\mathrm{d}x} = \frac{\mathrm{d}y}{\mathrm{d}u} \cdot \frac{\mathrm{d}u}{\mathrm{d}x}$$

۳۸۱۸ میں پُر کرنے سے درج ذیل ملتا ہے۔

$$\frac{\mathrm{d}}{\mathrm{d}x}f(u) = f'(u)\cdot\frac{\mathrm{d}u}{\mathrm{d}x}$$

۳۸۱۹ مثال کے طور پر اگر u تغیر x کا قابل تفرق تفاعل ہو اور $y = u^n$ ہو جہاں n عدد صحیح ہے تب زنجیری قاعدہ کے تحت درج ذیل ہو گا۔

$$\begin{aligned}\frac{\mathrm{d}y}{\mathrm{d}x} &= \frac{\mathrm{d}}{\mathrm{d}u}(u^n)\cdot\frac{\mathrm{d}u}{\mathrm{d}x}\\ &= nu^{n-1}\frac{\mathrm{d}u}{\mathrm{d}x}\end{aligned}$$

۳۸۲۰ قاعدہ ۳.۸: **طاقت کا زنجیری قاعدہ**

۳۸۲۱ اگر $u(x)$ قابل تفرق ہو اور n عدد صحیح ہو تب u^n قابل تفرق ہو گا اور اس کا تفرق درج ذیل ہو گا۔

$$\frac{\mathrm{d}}{\mathrm{d}x}u^n = nu^{n-1}\frac{\mathrm{d}u}{\mathrm{d}x} \tag{۴}$$

۳۸۲۲

۳۸۲۳ مثال ۳.۴۴:

ا.

$$\begin{aligned}\frac{\mathrm{d}}{\mathrm{d}x}\sin^5 x &= 5\sin^4 x\frac{\mathrm{d}}{\mathrm{d}x}(\sin x)\\ &= 5\sin^4 x\cos x\end{aligned}$$

ب.

$$\begin{aligned}\frac{\mathrm{d}}{\mathrm{d}x}(2x+1)^{-3} &= -3(2x+1)^{-4}\frac{\mathrm{d}}{\mathrm{d}x}(2x+1)\\ &= -3(2x+1)^{-4}(2)\\ &= -6(2x+1)^{-4}\end{aligned}$$

ج.

$$\begin{aligned}\frac{\mathrm{d}}{\mathrm{d}x}(5x^3-x^4)^7 &= 7(5x^3-x^4)^6\cdot\frac{\mathrm{d}}{\mathrm{d}x}(5x^3-x^4)\\ &= 7(5x^3-x^4)^6(5\cdot 3x^2-4x^3)\\ &= 7(5x^3-x^4)^6(15x^2-4x^3)\end{aligned}$$

د.

$$\begin{aligned}\frac{\mathrm{d}}{\mathrm{d}x}\left(\frac{1}{3x-2}\right) &= \frac{\mathrm{d}}{\mathrm{d}x}(3x-2)^{-1}\\ &= -1(3x-2)^{-2}\frac{\mathrm{d}}{\mathrm{d}x}(3x-2)\\ &= -1(3x-2)^{-2}(3)\\ &= -\frac{3}{(3x-2)^2}\end{aligned}$$

□

درج بالا مثال میں تفاعل $\sin^5 x$ استعمال کیا گیا جو $(\sin x)^5$ لکھنے کا مختصر طریقہ ہے۔

مثال ۳.۴۵: درجات بالمقابل ریڈیئن

یہ یاد رکھنا ضروری ہے کہ $\sin x$ کا تفرق اس صورت $\cos x$ ہو گا جب زاویہ کی پیمائش ریڈیئن میں ہو نا کہ درجات میں۔ زنجیری قاعدہ ان دونوں میں فرق کو سمجھنے میں مدد دیتا ہے۔ چونکہ ریڈیئن $180^\circ = \pi$ ہوتا ہے لہٰذا ریڈیئن $x^\circ = \frac{\pi x}{180}$ ہو گا اور زنجیری قاعدہ کے تحت

$$\frac{\mathrm{d}}{\mathrm{d}x}\sin(x^\circ) = \frac{\mathrm{d}}{\mathrm{d}x}\sin(\tfrac{\pi x}{180}) = \tfrac{\pi}{180}\cos(\tfrac{\pi x}{180}) = \tfrac{\pi}{180}\cos(x^\circ)$$

ہو گا۔ اسی طرح $\cos(x^\circ)$ کا تفرق $-\frac{\pi}{180}\sin(x^\circ)$ ہو گا۔

زاویہ کی پیمائش درجات میں رکھنے سے سائن اور کوسائن کے ایک مرتبہ تفرق میں تنگ کرنے والا $\frac{\pi}{180}$ کا جزو آن پڑتا ہے جو زیادہ مرتبہ تفرق کی صورت میں مصیبت بن جاتا ہے۔ آپ دیکھ سکتے ہیں کہ زاویے کی ناپ ریڈیئن میں رکھنے سے ہماری زندگی آسان ہو گی۔ □

مثال ۳.۴۶: برف کے مکعب کا پگھلنا برف کا مکعب کتنی دیر میں پگھلے گا؟

حل: پہلے اس مسئلے کا ریاضی نمونہ بناتے ہیں۔ ہم فرض کرتے ہیں کہ پگھلنے سے مکعب کی شکل تبدیل نہیں ہوتی۔ یوں اگر مکعب کے کنارے کی لمبائی s ہو تب اس کا حجم $H = s^3$ ہو گا۔ ہم فرض کرتے ہیں کہ s اور H متغیر t (وقت) کے قابل تفرق تفاعل ہیں۔ مزید ہم فرض کرتے ہیں کہ مکعب کے حجم میں کمی مکعب کی سطح کی راست متناسب ہے۔ یہ مفروضہ اس لئے قابل قبول ہو گا کہ مکعب پگھلنے کی وجہ مکعب میں داخل حراری توانائی ہے جو مکعب کی سطح سے مکعب میں داخل ہوتی ہے۔ یوں سطح کا رقبہ تبدیل کرنے سے حجم میں کمی کی رفتار تبدیل ہو گی۔ ریاضی کی زبان میں ہم

$$\frac{\mathrm{d}H}{\mathrm{d}s} = -k(6s^2), \qquad k > 0$$

لکھتے ہیں جہاں منفی کی علامت حجم میں کمی کو ظاہر کرتی ہے۔ تناسب کا مستقل k مثبت مقدار ہے (جو حقیقتاً کئی عوامل مثلاً ارد گرد کی ہوا، ہوا کا درجہ حرارت، رطوبت اور سورج کی روشنی وغیرہ پر منحصر ہو گا)۔

آخر میں ہمیں مزید (کم سے کم) ایک معلومات کی ضرورت ہے: کتنی دیر میں مکعب کا کتنا حصہ پگھلتا ہے؟ ہمیں ایک یا ایک سے زیادہ مشاہدہ کر کے یہ معلومات حاصل کرنی ہو گی۔ فی الحال ہم فرض کرتے ہیں کہ پہلے ایک گھنٹہ میں ایک چوتھائی حجم پگھل جاتا ہے۔ ابتدائی حجم کو H_0 لیتے ہوئے ریاضی کی زبان میں اس کو

۳۸۴۱ لکھتے ہیں۔

$$H = s^3, \quad \frac{\mathrm{d}H}{\mathrm{d}t} = -k(6s^2)$$
$$H = H_0 \quad \text{پر} \quad t = 0$$
$$H = \frac{3}{4}H_0 \quad \text{پر} \quad t = 1\,\mathrm{h}$$

۳۸۴۲ اب ہمیں $H = 0$ پر t تلاش کرنی ہو گی۔

۳۸۴۳ ہم $H = s^3$ کا تفرق زنجیری قاعدہ سے t کے لحاظ سے حاصل کر کے

$$\frac{\mathrm{d}H}{\mathrm{d}t} = 3s^2\frac{\mathrm{d}s}{\mathrm{d}t}$$

۳۸۴۴ تبدیلی کی شرح $-k(6s^2)$ کے برابر رکھتے ہوئے

$$3s^2\frac{\mathrm{d}s}{\mathrm{d}t} = -6ks^2$$
$$\frac{\mathrm{d}s}{\mathrm{d}t} = -2k$$

۳۸۴۵ حاصل کرتے ہیں۔اطراف کی لمبائی مستقل شرح $2k$ سے کم ہو رہی ہے۔یوں اگر اطراف کی ابتدائی لمبائی s_0 ہو تب ایک گھنٹہ بعد لمبائی

۳۸۴۶ $s_1 = s_0 - 2k$ ہو گی جس سے

$$2k = s_0 - s_1$$

۳۸۴۷ لکھا جا سکتا ہے۔پگھلنے کا دورانیہ $2kt = s_0$ سے حاصل کرتے ہیں۔

$$t_{\text{پگھلنا}} = \frac{s_0}{2k} = \frac{s_0}{s_0 - s_1} = \frac{1}{1 - \frac{s_1}{s_0}}$$

۳۸۴۸ ہم جانتے ہیں کہ

$$\frac{s_1}{s_0} = \frac{(\frac{3}{4}V_0)^{1/3}}{V_0^{1/3}} = (\tfrac{3}{4})^{1/3} \approx 0.91$$

۳۸۴۹ ہے لہٰذا پگھلنے کے لئے درکار وقت درج ذیل ہو گا۔

$$t_{\text{پگھلنا}} = \frac{1}{1 - 0.91} \approx 11\,\mathrm{h}$$

۳۸۵۰ آپ نے دیکھا کہ اگر $\frac{1}{4}$ حجم پہلے 1 گھنٹہ میں پگھلتا ہو تب باقی حجم کو پگھلنے کے لئے تقریباً 10 گھنٹے درکار ہوں گے۔ □

۳۸۵۱ اگر ہم سائنسدان ہوتے تب ہمارا اگلا قدم اس ریاضی نمونے کی درستگی کی تصدیق ہوتا۔ہم برف کے کئی مکعب لے کر ان کا مشاہدہ کرتے اور دیکھتے کہ ریاضی نمونہ

۳۸۵۲ کتنا قریبی نتائج دیتا ہے اور نمونے کو کس طرح مزید بہتر بنایا جا سکتا ہے۔

۳۸۵۳ سوالات

۳۸۵۴ سوال ۳.۲۳۰ تا سوال ۳.۲۳۷ میں $y = f(u)$ اور $u = g(x)$ دیے گئے ہیں۔ $\frac{dy}{dx} = f'(g(x))g'(x)$ تلاش کریں۔

۳۸۵۵ سوال ۳.۲۳۰: $y = 6u - 9, \quad u = \frac{1}{2}x^4$

۳۸۵۶ سوال ۳.۲۳۱: $y = 2u^3, \quad u = 8x - 1$

۳۸۵۷ سوال ۳.۲۳۲: $y = \sin u, \quad u = 3x + 1$

۳۸۵۸ سوال ۳.۲۳۳: $y = \cos u, \quad u = -\frac{x}{3}$

۳۸۵۹ سوال ۳.۲۳۴: $y = \cos u, \quad u = \sin x$

۳۸۶۰ سوال ۳.۲۳۵: $y = \sin u, \quad u = x - \cos x$

۳۸۶۱ سوال ۳.۲۳۶: $y = \tan u, \quad u = 10x - 5$

۳۸۶۲ سوال ۳.۲۳۷: $y = -\sec u, \quad u = x^2 + 7x$

۳۸۶۳ سوال ۳.۲۳۸ تا سوال ۳.۲۴۷ میں تفاعل کو $y = f(u)$ اور $u = g(x)$ روپ میں لکھ کر $\frac{dy}{dx}$ تلاش کریں۔

۳۸۶۴ سوال ۳.۲۳۸: $y = (2x + 1)^{-7}$

۳۸۶۵ سوال ۳.۲۳۹: $y = (4 - 3x)^9$

۳۸۶۶ سوال ۳.۲۴۰: $y = (1 - \frac{x}{7})^{-7}$

۳۸۶۷ سوال ۳.۲۴۱: $y = (\frac{x}{2} - 1)^{-10}$

۳۸۶۸ سوال ۳.۲۴۲: $y = (\frac{x^2}{8} + x - \frac{1}{x})^4$

۳۸۶۹ سوال ۳.۲۴۳: $y = (\frac{x}{5} + \frac{1}{5x})^5$

۳۸۷۰ سوال ۳.۲۴۴: $y = \sec(\tan x)$

۳۸۷۱ سوال ۳.۲۴۵: $y = \cos(\pi - \frac{1}{x})$

۳۸۷۲ سوال ۳.۲۴۶: $y = \sin^3 x$

۳۸۷۳ سوال ۳.۲۴۷: $y = 5\cos^{-4} x$

۳۸۷۴ سوال ۳.۲۴۸ تا سوال ۳.۲۶۷ میں تفاعل کا تفرق تلاش کریں۔

۳۸۷۵ سوال ۳.۲۴۸: $p = \sqrt{3 - t}$

۳۸۷۶ سوال ۳.۲۴۹: $q = \sqrt{2r - r^2}$

۳۸۷۷ سوال ۳.۲۵۰: $s = \frac{4}{3\pi}\sin 3t + \frac{4}{5\pi}\cos 5t$

۳۸۷۸ سوال ۳.۲۵۱: $s = \sin(\frac{3\pi t}{2}) + \cos(\frac{3\pi t}{2})$

۳۸۷۹ سوال ۳.۲۵۲: $r = (\csc\theta + \cot\theta)^{-1}$

۳۸۸۰ سوال ۳.۲۵۳: $r = -(\sec\theta + \tan\theta)^{-1}$

۳۸۸۱ سوال ۳.۲۵۴: $y = x^2 \sin^4 x + x\cos^{-2} x$

۳۸۸۲ سوال ۳.۲۵۵: $y = \frac{1}{x}\sin^{-5} x - \frac{x}{3}\cos^3 x$

۳۸۸۳ سوال ۳.۲۵۶: $y = \frac{1}{21}(3x-2)^7 + (4 - \frac{1}{2x^2})^{-1}$

۳۸۸۴ سوال ۳.۲۵۷: $y = (5-2x)^{-3} + \frac{1}{8}(\frac{2}{x}+1)^4$

۳۸۸۵ سوال ۳.۲۵۸: $y = (4x+3)^4(x+1)^{-3}$

۳۸۸۶ سوال ۳.۲۵۹: $y = (2x-5)^{-1}(x^2-5x)^6$

۳۸۸۷ سوال ۳.۲۶۰: $h(x) = x\tan(2\sqrt{x}) + 7$

۳۸۸۸ سوال ۳.۲۶۱: $k(x) = x^2\sec(\frac{1}{x})$

۳۸۸۹ سوال ۳.۲۶۲: $f(\theta) = (\frac{\sin\theta}{1+\cos\theta})^2$

۳۸۹۰ سوال ۳.۲۶۳: $g(t) = (\frac{1+\cot t}{\sin t})^{-1}$

۳۸۹۱ سوال ۳.۲۶۴: $r = \sin(\theta^2)\cos(2\theta)$

۳۸۹۲ سوال ۳.۲۶۵: $r = \sec\sqrt{\theta}\tan(\frac{1}{\theta})$

۳۸۹۳ سوال ۳.۲۶۶: $q = \sin(\frac{t}{\sqrt{t+1}})$

۳۸۹۴ سوال ۳.۲۶۷: $q = \cot(\frac{\sin t}{t})$

۳۸۹۵ سوال ۳.۲۶۸ تا سوال ۳.۲۷۷ میں $\frac{dy}{dt}$ تلاش کریں۔

۳۸۹۶ سوال ۳.۲۶۸: $y = \sin^2(\pi t - 2)$

۳۸۹۷ سوال ۳.۲۶۹: $y = \sec^2 \pi t$

۳۸۹۸ سوال ۳.۲۷۰: $y = (1+\cos 2t)^{-4}$

۳۸۹۹ سوال ۳.۲۷۱: $y = (1+\cot(\frac{t}{2}))^{-2}$

۳۹۰۰ سوال ۳.۲۷۲: $y = \sin(\cos(2t-5))$

۳۹۰۱ سوال ۳.۲۷۳: $y = \cos(5\sin(\frac{t}{3}))$

۳۹۰۲ سوال ۳.۲۷۴: $y = (1+\tan^4(\frac{t}{12}))^3$

۳۹۰۳ سوال ۳.۲۷۵: $y = \frac{1}{6}(1+\cos^2(7t))^3$

۳۹۰۴ سوال ۳.۲۷۶: $y = \sqrt{1+\cos(t^2)}$

۳۹۰۵ سوال ۳.۲۷۷: $y = 4\sin(\sqrt{1+\sqrt{t}})$

۳۹۰۶ سوال ۳.۲۷۸ تا سوال ۳.۲۸۱ میں y'' تلاش کریں۔

۳۹۰۷ سوال ۳.۲۷۸: $y = (1+\frac{1}{x})^3$

۳۹۰۸ سوال ۳.۲۷۹: $y = (1-\sqrt{x})^{-1}$

۳۹۰۹ سوال ۳.۲۸۰: $y = \frac{1}{9}\cot(3x-1)$

۳۹۱۰ سوال ۳.۲۸۱: $y = 9\tan(\frac{x}{3})$

۳۹۱۱ تفرق کی اعدادی قیمتوں کا حصول

۳۹۱۲ سوال ۳.۲۸۲ تا سوال ۳.۲۸۷ میں x کی دی گئی قیمت پر $(f\circ g)'$ تلاش کریں۔

۳۹۱۳ سوال ۳.۲۸۲: $f(u) = u^5+1, \quad u = g(x) = \sqrt{x}, \quad x = 1$

۳۹۱۴ سوال ۳.۲۸۳: $f(u) = 1-\frac{1}{u}, \quad u = g(x) = \frac{1}{1-x}, \quad x = -1$

۳۹۱۵ سوال ۳.۲۸۴: $f(u) = \cot\frac{\pi u}{10}, \quad u = g(x) = 5\sqrt{x}, \quad x = 1$

۳۹۱۶ سوال ۳.۲۸۵: $f(u) = u+\frac{1}{\cos^2 u}, \quad u = g(x) = \pi x, \quad x = \frac{1}{4}$

۳۹۱۷ سوال ۳.۲۸۶: $f(u) = \frac{2u}{u^2+1}, \quad u = g(x) = 10x^2+x+1, \quad x = 0$

۳۹۱۸ سوال ۳.۲۸۷: $f(u) = (\frac{u-1}{u+1})^2, \quad u = g(x) = \frac{1}{x^2}-1, \quad x = -1$

۳۹۱۹ سوال ۳.۲۸۸: فرض کریں x کے لحاظ سے تفاعل f اور g کے تفرق کی $x = 2$ اور $x = 3$ پر قیمتیں درج ذیل ہیں۔

x	$f(x)$	$g(x)$	$f'(x)$	$g'(x)$
2	8	2	$\frac{1}{3}$	-3
3	3	-4	2π	5

۳۹۲۰ درج ذیل میں دیے گئے x پر تفاعل کے تفرق کی قیمتیں تلاش کریں۔

۳۹۲۱ ا. $2f(x),\ x = 2$

۳۹۲۲ ب. $f(x)+g(x),\ x = 3$

۳۹۲۳ ج. $f(x)\cdot g(x),\ x = 3$

۳۹۲۴ د. $f(x)/g(x),\ x = 2$

۳۹۲۵ ھ. $f(g(x)),\ x = 2$

۳۹۲۶ و. $\sqrt{f(x)},\ x = 2$

۳۹۲۷ ز. $1/g^2(x),\ x = 3$

۳۹۲۸ ح. $\sqrt{f^2(x)+g^2(x)},\ x = 2$

۳۹۲۹ سوال ۳.۲۸۹: فرض کریں تفاعل f اور g کے x کے لحاظ سے تفرق کی $x = 0$ اور $x = 1$ پر قیمتیں درج ذیل ہیں۔

x	$f(x)$	$g(x)$	$f'(x)$	$g'(x)$
0	1	1	5	1/3
1	3	−4	−1/3	−8/3

۳۹۳۰ درج ذیل میں دیے گئے x پر تفاعل کے تفرق کی قیمتیں تلاش کریں۔

۳۹۳۱ ا. $5f(x) - g(x),\ x = 1$

۳۹۳۲ ب. $f(x)g^3(x),\ x = 0$

۳۹۳۳ ج. $\frac{f(x)}{g(x)+1},\ x = 1$

۳۹۳۴ د. $f(g(x)),\ x = 0$

۳۹۳۵ ھ. x=0 g(f(x)),

۳۹۳۶ و. $(x^{11} + f(x))^{-2},\ x = 1$

۳۹۳۷ ز. x=0 f(x+g(x)),

۳۹۳۸ سوال ۳.۲۹۰: اگر $s = \cos\theta$ اور $\frac{\mathrm{d}\theta}{\mathrm{d}t} = 5$ ہوں تب $\theta = 3\pi/2$ پر $\frac{\mathrm{d}s}{\mathrm{d}t}$ تلاش کریں۔

۳۹۳۹ سوال ۳.۲۹۱: اگر $y = x^2 + 7x - 5$ اور $\frac{\mathrm{d}x}{\mathrm{d}t} = \frac{1}{3}$ ہوں تب $x = 1$ پر $\frac{\mathrm{d}y}{\mathrm{d}t}$ تلاش کریں۔

۳۹۴۰ **مرکب کی کئی صورتیں**

۳۹۴۱ اگر مرکب تفاعل کو مختلف انداز میں لکھنا ممکن ہو تب کیا ہو گا؟ کیا ہر صورت سے ایک سا تفرق حاصل ہو گا؟ زنجیری قاعدہ کہتا ہے کہ ایسا ہی ہو گا۔ اگلے دو

۳۹۴۲ سوالات میں اس عمل کو دیکھیں۔

۳۹۴۳ سوال ۳.۲۹۲: تفاعل $y = x$ کو درج ذیل کا مرکب لکھتے ہوئے $\frac{\mathrm{d}y}{\mathrm{d}x}$ تلاش کریں۔

۳۹۴۴

۳۹۴۵ ا. $y = \frac{u}{5} + 7, \quad u = 5x - 35$

۳۹۴۶ ب. $y = 1 + \frac{1}{u}, \quad u = \frac{1}{x-1}$

۳۹۴۷ سوال ۳.۲۹۳: تفاعل $y = x^{3/2}$ کو درج ذیل کا مرکب لکھتے ہوئے $\frac{\mathrm{d}y}{\mathrm{d}x}$ تلاش کریں۔

۳۹۴۸

۳۹۴۹ ا. $y = u^3, \quad u = \sqrt{x}$

۳۹۵۰ ب. $y = \sqrt{u}, \quad u = x^3$

۳۹۵۱ **مماس اور ڈھلوان**

۳۹۵۲ سوال ۳.۲۹۴:

۳۹۵۳ ا. $x = 1$ پر منحنی $y = 2\tan(\pi x/4)$ کے مماس کی مساوات تلاش کریں۔

۳۹۵۴ ب. وقفہ $-2 < x < 2$ پر منحنی کے ڈھلوان کی کم سے کم قیمت کیا ممکن ہے؟ اپنے جواب کی وجہ پیش کریں۔

۳۹۵۵ سوال ۳.۲۹۵:

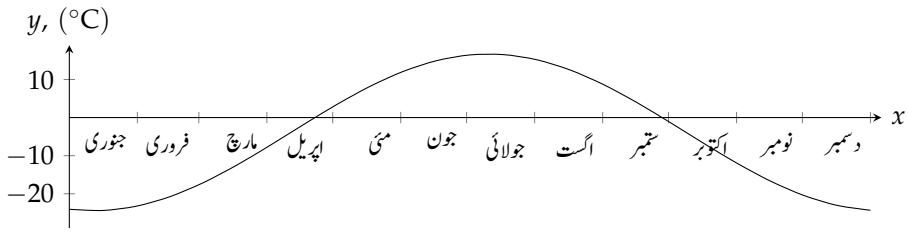

شکل ۳.۵۱: اوسط درجہ حرارت

ا. مبدا پر $y = \sin 2x$ اور $y = -\sin\frac{x}{2}$ کے مماس کی مساوات تلاش کریں۔ کیا ان مماس کا آپس میں کوئی تعلق پایا جاتا ہے؟ اپنے جواب کی وجہ پیش کریں۔

ب. کیا مبدا پر $y = \sin mx$ اور $y = -\sin\frac{x}{m}$ کی مماسات کے بارے میں کچھ کہا جا سکتا ہے جہاں مستقل $m \neq 0$ ہے؟ اپنے جواب کی وجہ پیش کریں۔

ج. کسی بھی دیے گئے m کے لئے $y = \sin mx$ اور $y = -\sin\frac{x}{m}$ کا زیادہ سے زیادہ ڈھلوان کیا ہے؟ اپنے جواب کی وجہ پیش کریں۔

د. وقفہ $[0, 2\pi]$ پر تفاعل $y = \sin x$ ایک چکر پورا کرتا ہے، تفاعل $y = \sin 2x$ دو چکر پورا کرتا ہے، تفاعل $y = \sin\frac{x}{2}$ آدھا چکر پورا کرتا ہے، وغیرہ وغیرہ۔ کیا اس وقفے پر تفاعل $y = \sin mx$ کے مکمل چکر اور مبدا پر تفاعل کے ڈھلوان کا آپس میں کوئی تعلق ہے؟ اپنے جواب کی وجہ پیش کریں۔

نظریہ، مثالیں اور استعمال

سوال ۳.۲۹۶: مشین کا بہت تیز چلنا ایک گاڑی کے انجن کا پسٹن[۴۲] اوپر نیچے دوری حرکت کرتا ہے جو

$$s = A\cos(2\pi bt)$$

لکھا جا سکتا ہے جہاں لمحہ t پر پسٹن کا مقام s ہے جبکہ A اور b مثبت مستقل ہیں۔ حرکت کا حیطہ A اور اس کا تعدد (ایک سیکنڈ میں اوپر نیچے حرکت کی گنتی) b ہے۔ تعدد دگنا کرنے کا پسٹن کی سمتی رفتار، اسراع اور جھٹکے پر کیا اثر ہو گا؟ (یہ جاننے کے بعد آپ سمجھ سکتے ہیں کہ مشین تیز چلانے سے کیوں خراب ہوتی ہے۔)

سوال ۳.۲۹۷: قطب شمالی کے نزدیک ایلاسکا کے ایک شہر میں درجہ حرارت ایلاسکا[۴۳] کے ایک شہر میں پورے سال کے ہر دن کا اوسط درجہ حرارت شکل ۳.۵۱ میں ترسیم کیا گیا ہے۔ یہ ترسیم درج ذیل تفاعل سے ظاہر کی جا سکتی ہے۔

$$y = 20.56\sin\left[\frac{2\pi}{365}(x - 101)\right] - 3.89$$

---

[۴۲] piston
[۴۳] Alaska

ا. کس دن درجہ حرارت تیز ترین تبدیل ہوتا ہے؟

ب. ایک دن میں درجہ حرارت کی زیادہ سے زیادہ تبدیلی کتنی ہے؟

سوال ۳.۲۹۸: محوری لکیر پر جسم کا مقام $s = \sqrt{1+4t}$ ہے جہاں t کی اکائی سیکنڈ اور s کی اکائی میٹر ہے۔ لمحہ $t = 6\,\mathrm{s}$ پر جسم کی سمتی رفتار اور جسم کا اسراع کیا ہے؟

سوال ۳.۲۹۹: ساکن حال کے t سیکنڈ بعد ایک گرتے ہوئے جسم کی سمتی رفتار $v = k\sqrt{s}\,\mathrm{m\,s^{-1}}$ ہے جہاں k مستقل اور ساکن مقام سے فاصلہ s ہے۔ دکھائیں کہ جسم کا اسراع مستقل ہے۔

سوال ۳.۳۰۰: زمین کی فضا میں داخل ہونے والے شہاب ثاقب کی سمتی رفتار $\sqrt{s}$ کے بالعکس متناسب ہے جہاں زمین کے وسط سے شہاب ثاقب کا فاصلہ s ہے۔ دکھائیں کہ شہاب ثاقب کا اسراع s^2 کے بالعکس متناسب ہے۔

سوال ۳.۳۰۱: x محور پر حرکت کرنے والے ایک ذرہ کی سمتی رفتار $\frac{\mathrm{d}x}{\mathrm{d}t} = f(x)$ ہے۔ دکھائیں کہ ذرے کا اسراع $f(x)f'(x)$ ہے۔

سوال ۳.۳۰۲: لٹکن کا دوری عرصہ بالمقابل درجہ حرارت ایک لٹکن جس کی لمبائی L ہو کا دوری عرصہ $T = 2\pi\sqrt{\frac{L}{g}}$ ہو گا جہاں لٹکن کے مقام پر ثقلی اسراع کو g سے ظاہر کیا گیا ہے۔ یہاں T کی اکائی سیکنڈ اور L کی اکائی میٹر ہے۔ اگر لٹکن کسی دھات سے بنا ہو تب اس کی لمبائی درجہ حرارت کے ساتھ درج ذیل کلیہ کے تحت تبدیل ہو گی

$$\frac{\mathrm{d}L}{\mathrm{d}u} = kL$$

جہاں درجہ حرارت کو u سے ظاہر کیا گیا ہے اور k مستقل ہے۔ دکھائیں کہ حرارت کے ساتھ دوری عرصہ تبدیل ہونے کی شرح $\frac{kT}{2}$ ہو گی۔

سوال ۳.۳۰۳: اگر $f(x) = x^2$ اور $g(x) = |x|$ ہوں تب مرکبات

$$(f \circ g)(x) = |x|^2 = x^2 \quad \text{اور} \quad (g \circ f)(x) = \left|x^2\right| = x^2$$

دونوں $x = 0$ پر قابل تفرق ہیں اگرچہ $x = 0$ پر g از خود قابل تفرق نہیں۔ کیا یہ زنجیری قاعدہ کے مترادف ہے؟ اپنے جواب کی وجہ پیش کریں۔

سوال ۳.۳۰۴: فرض کریں $x = 1$ پر $u = g(x)$ قابل تفرق ہے اور $u = g(1)$ پر $y = f(u)$ قابل تفرق ہے۔ اگر $x = 1$ پر $y = f(g(x))$ کی منحنی کا مماس افقی ہو تب کیا $x = 1$ پر g کے مماس یا $u = g(1)$ پر f کے مماس کے بارے میں کچھ کہنا ممکن ہو گا؟ اپنے جواب کی وجہ پیش کریں۔

سوال ۳.۳۰۵: فرض کریں کہ $x = -5$ پر $u = g(x)$ قابل تفرق ہے اور $u = g(-5)$ پر $y = f(u)$ قابل تفرق ہے اور $(f \circ g)'(-5)$ منفی ہے۔ کیا $g'(-5)$ اور $f'(g(-5))$ کی قیمتوں کے بارے میں کچھ کہنا ممکن ہے۔

زنجیری قاعدہ استعمال کرتے ہوئے اگلے دو سوالات میں دیے گئے تفاعل x^n کے لئے دکھائیں کہ طاقتی قاعدہ $\frac{\mathrm{d}}{\mathrm{d}x}x^n = nx^{n-1}$ مطمئن ہوتا ہے۔

سوال ۳.۳۰۶: $x^{1/4} = \sqrt{\sqrt{x}}$

سوال ۳.۳۰۷: $x^{3/4} = \sqrt{x\sqrt{x}}$

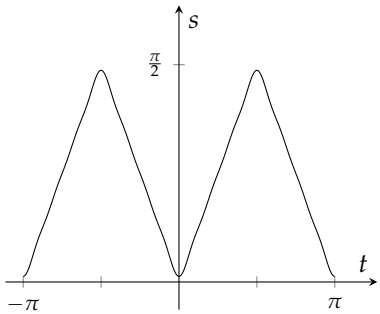

شکل ۳.۵۲: دندان موج کا کثیر رکنی سے اظہار (سوال ۳.۳۰۹)

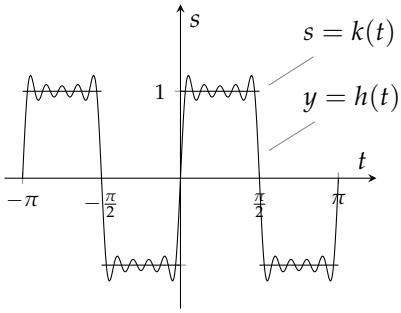

شکل ۳.۵۳: سیڑھی تفاعل $s = k(t)$ کا $s = h(t)$ کثیر رکنی سے اظہار (سوال ۳.۳۱۰)

کمپیوٹر کا استعمال

سوال ۳.۳۰۸: $y = \sin 2x$ کا تفرق وقفہ $-2 \leq x \leq 3.5$ کے لئے تفاعل $y = 2\cos 2x$ ترسیم کریں۔ ساتھ ہی $h = 1, 0.5, 0.2$ کے لئے

$$y = \frac{\sin 3(x+h) - \sin 2x}{h}$$

ترسیم کریں۔ h کی دیگر (بشمول منفی) قیمتوں کے لئے بھی اس کو ترسیم کریں۔ $h \to 0$ کرتے ہوئے آپ کیا دیکھتے ہیں؟ اس کی وجہ پیش کریں۔

سوال ۳.۳۰۹: درج ذیل کثیر رکنی شکل ۳.۵۲ میں دکھائی گئی ہے جو وقفہ $[-\pi, \pi]$ پر تقریباً دندان موج $s = g(t)$ نظر آتی ہے۔

$$s = f(t) = 0.78540 - 0.63662\cos 2t - 0.07074\cos 6t - 0.02546\cos 10t - 0.01299\cos 14t$$

جہاں دندان موج معین ہو وہاں اس کثیر رکنی کا تفرق دندان موج کے تفرق کو کتنا خوش اسلوبی سے ظاہر کرتا ہے؟ یہ معلوم کرنے کی خاطر درج ذیل اقدام کریں۔

ا. وقفہ $[-\pi, \pi]$ پر $\frac{dg}{dt}$ (جہاں معین ہو) ترسیم کریں۔

ب. $\frac{df}{dt}$ تلاش کر کے ترسیم کریں۔

ج. کہاں پر $\frac{dg}{dt}$ کو $\frac{df}{dt}$ بہتر ظاہر کرتا ہے؟ کہاں خراب ترین ظاہر کرتا ہے؟ تکونیاتی تفاعل سے عموماً مختلف تفاعل کو ظاہر کیا جاتا ہے البتہ جیسے اگلے سوال میں ظاہر ہو گا اصل تفاعل کے تفرق کو عموماً ان کثیر رکنی کے تفرق سے ظاہر نہیں کیا جا سکتا۔

سوال ۳.۳۱۰: گزشتہ سوال میں دندان موج کو کثیر رکنی سے ظاہر کیا گیا جہاں ہم نے دیکھا کہ دندان موج کے تفرق کو کثیر رکنی کا تفرق ظاہر کرتا ہے۔ آئیں اب ایسا تفاعل دیکھیں جس کو کثیر رکنی سے ظاہر کیا جا سکتا ہے البتہ تفاعل کے تفرق کو کثیر رکنی کا تفرق ظاہر نہیں کرتا۔ شکل ۳.۵۳ میں سیڑھی تفاعل کو درج ذیل کثیر رکنی سے ظاہر کیا گیا ہے۔

$$s = h(t) = 1.2732\sin 2t + 0.4244\sin 6t + 0.25465\sin 10t + 0.18186\sin 14t + 0.14147\sin 18t$$

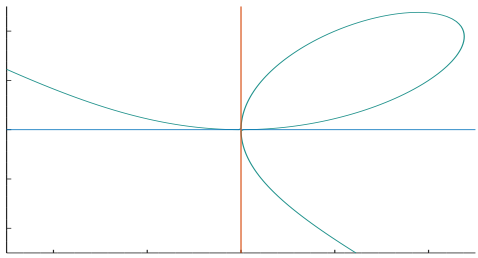

شکل ۳.۵۴: خفی منحنی $x^3 + y^3 - 9xy = 0$ جس کو پتا بھی کہتے ہیں۔

آئیں دیکھتے ہیں کہ کثیر رکنی کا تفرق ہر گز سیڑھی تفاعل کا تفرق نہیں دیتا۔ ایسا کرنے کی خاطر درج ذیل اقدام کریں۔

ا. وقفہ $[-\pi, \pi]$ پر $\frac{\mathrm{d}k}{\mathrm{d}t}$ (جہاں معین ہو) ترسیم کریں۔

ب. $\frac{\mathrm{d}h}{\mathrm{d}t}$ ترسیم کریں۔

ج. نتائج کو دیکھ کر آپ کیا کہیں گے؟

۳.۶ خفی تفرق اور ناطق قوت نما

بعض اوقات مساوات $F(x, y) = 0$ کو $y = f(x)$ روپ میں لکھنا ممکن نہیں ہوتا۔ اس کے باوجود ہم $\frac{\mathrm{d}y}{\mathrm{d}x}$ کو خفی تفرق سے حاصل کر سکتے ہیں۔ اس حصہ میں اس ترکیب پر غور کیا جائے گا اور اس کے ذریعہ طاقتی قاعدہ کو وسعت دے کر تمام ناطق تفاعل شامل کیے جائیں گے۔

خفی تفرق

چونکہ مساوات $x^3 + y^3 - 9xy = 0$ درحقیقت تین تفاعلات $y = f_1(x)$ ، $y = f_2(x)$ ، اور $y = f_3(x)$ کا ملاپ ہے جو ماسوائے نقطہ M اور A کے قابل تفرق ہیں لہٰذا اس کی ترسیم کا تقریباً ہر نقطے پر اچھی طرح معین ڈھلوان پایا جاتا ہے (شکل ۳.۵۴)۔ خفی تفاعل کا تفرق لینے کی خاطر y کو x کا تفاعل تصور کرتے ہوئے قواعد برائے قوت نما، طاقت، مجموعہ، تفریق، حاصل ضرب، حاصل تقسیم اور زنجیری قاعدہ زیر استعمال لائے جاتے ہیں۔ اس کے بعد $\frac{\mathrm{d}y}{\mathrm{d}x}$ کے لئے حل کرتے ہوئے کسی بھی نقطہ (x, y) پر تفرق حاصل کیا جا سکتا ہے۔

اس ترکیب کو **خفی تفرق**[۴۴] کہتے ہیں۔

[۴۴] implicitdifferentiation

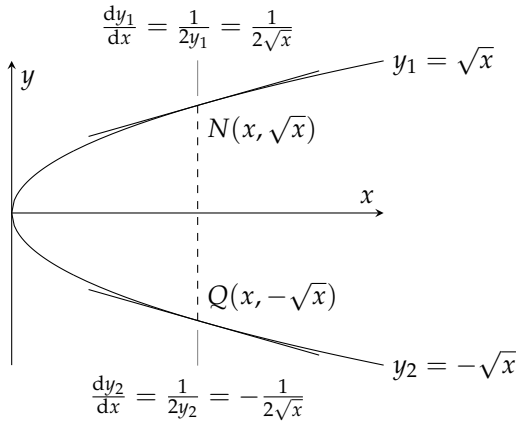

شکل ۳.۵۵: ترسیم برائے مثال ۳.۴۷

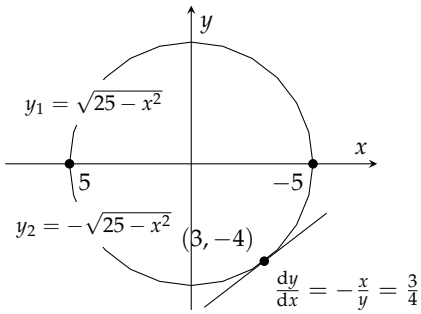

شکل ۳.۵۶: ترسیم برائے مثال ۳.۴۸

۳۰۲۵ مثال ۳.۴۷: $y^2 = x$ ہے۔ $\frac{dy}{dx}$ تلاش کریں۔

۳۰۲۶ حل: مساوات $y^2 = x$ درحقیقت دو تفاعل $y_1 = \sqrt{x}$ اور $y_2 = -\sqrt{x}$ کو ظاہر کرتی ہے جہاں جذر کی مثبت قیمت لی جاتی ہے۔ ہم

۳۰۲۷ $x > 0$ کے لئے ان دونوں تفاعل کا تفرق لینا جانتے ہیں۔

$$\frac{dy_1}{dx} = \frac{1}{2\sqrt{x}}, \quad \frac{dy_2}{dx} = -\frac{1}{2\sqrt{x}}$$

۳۰۲۸ آئیں اب اس مساوات کو دو تفاعل میں تقسیم کیے بغیر مساوات کا تفرق حاصل کریں۔ ہم y کو x کا قابل تفرق تفاعل تصور کرتے ہوئے مساوات کے دونوں

۳۰۲۹ اطراف کا x کے لحاظ سے تفرق زنجیری قاعدہ سے حاصل کرتے ہیں۔ یوں $f(x) = y^2$ لکھ کر $\frac{df}{dx} = 2y$ لکھا جا سکتا ہے لہٰذا

$$\begin{aligned} y^2 &= x \\ 2y\frac{dy}{dx} &= 1 \qquad \text{زنجیری قاعدہ} \\ \frac{dy}{dx} &= \frac{1}{2y} \end{aligned}$$

۳۰۳۰ ہوگا۔ یہ کلیہ دونوں صریح تفاعل $y_1 = \sqrt{x}$ اور $y_2 = -\sqrt{x}$ کا تفرق دیتا ہے۔

$$\frac{dy_1}{dx} = \frac{1}{2y_1} = \frac{1}{2\sqrt{x}}, \quad \frac{dy_2}{dx} = \frac{1}{2y_2} = -\frac{1}{2\sqrt{x}}$$

۳۰۳۱ □

۳۰۳۲ مثال ۳.۴۸: نقطہ $(3, -4)$ پر دائرہ $x^2 + y^2 = 25$ کا ڈھلوان تلاش کریں (شکل ۳.۵۶)۔

۳۰۳۳ حل: دائرہ درحقیقت دو قابل تفرق تفاعل $y_1 = \sqrt{25 - x^2}$ اور $y_2 = -\sqrt{25 - x^2}$ کو ظاہر کرتا ہے۔ نقطہ $(3, -4)$

۴۰۳۴ تفاعل y_2 پر پایا جاتا ہے لہٰذا ہم صریحاً ڈھلوان تلاش کر سکتے ہیں:

$$\left.\frac{\mathrm{d}y_2}{\mathrm{d}x}\right|_{x=3} = -\frac{-2x}{2\sqrt{25-x^2}} = -\frac{-6}{2\sqrt{25-9}} = \frac{3}{4} \tag{۱}$$

۴۰۳۵ ہم دائرے کی مساوات کا x کے لحاظ سے خفی تفرق

$$\begin{aligned}
\frac{\mathrm{d}}{\mathrm{d}x}(x^2) + \frac{\mathrm{d}}{\mathrm{d}x}(y^2) &= \frac{\mathrm{d}}{\mathrm{d}x}(25)\\
2x + 2y\frac{\mathrm{d}y}{\mathrm{d}x} &= 0\\
\frac{\mathrm{d}y}{\mathrm{d}x} &= -\frac{x}{y}
\end{aligned}$$

۴۰۳۶ لے کر $(3, -4)$ پر ڈھلوان کی قیمت تلاش کر سکتے ہیں۔

$$\left.\frac{\mathrm{d}y}{\mathrm{d}x}\right|_{(3,-4)} = -\frac{3}{-4} = \frac{3}{4}$$

۴۰۳۷ دھیان رہے کہ مساوات اصرف x محور کے نیچے جوابات دیتی ہے جبکہ درج بالا تمام نقطوں پر قابل استعمال ہے۔ خفی تفرق کی قیمت عموماً x اور y دونوں
۴۰۳۸ پر منحصر ہوتی ہے جبکہ صریحاً حاصل تفرق کے کلیہ میں صرف x درکار ہوگا۔ □

۴۰۳۹ دیگر خفی تفاعل کا تفرق بھی درج بالا دو مثالوں کی طرح حاصل کیا جاتا ہے۔ ہم y کو x کا قابل تفرق تفاعل تصور کرتے ہوئے مساوات کے دونوں اطراف
۴۰۴۰ تفرق کے قواعد استعمال کرتے ہیں۔

۴۰۴۱ مثال ۳.۴۹: $2y = x^2 + \sin y$ کے لئے $\frac{\mathrm{d}y}{\mathrm{d}x}$ تلاش کریں۔

۴۰۴۲ حل:

$$\begin{aligned}
2y &= x^2 + \sin y\\
\frac{\mathrm{d}}{\mathrm{d}x}(2y) &= \frac{\mathrm{d}}{\mathrm{d}x}(x^2 + \sin y)\\
&= \frac{\mathrm{d}}{\mathrm{d}x}(x^2) + \frac{\mathrm{d}}{\mathrm{d}x}(\sin y)\\
2\frac{\mathrm{d}y}{\mathrm{d}x} &= 2x + \cos y\frac{\mathrm{d}y}{\mathrm{d}x}\\
2\frac{\mathrm{d}y}{\mathrm{d}x} - \cos y\frac{\mathrm{d}y}{\mathrm{d}x} &= 2x\\
\frac{\mathrm{d}y}{\mathrm{d}x}(2 - \cos y) &= 2x\\
\frac{\mathrm{d}y}{\mathrm{d}x} &= \frac{2x}{2 - \cos y}
\end{aligned}$$

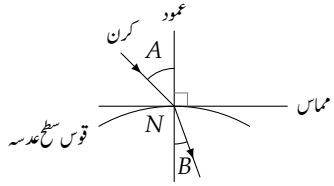

شکل ۳.۵۷: عدسہ میں کرن داخل ہو کر عمود کی طرف جھکتی ہے۔

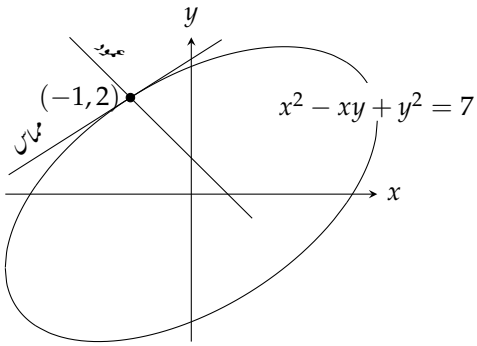

شکل ۳.۵۸: ترسیمات برائے مثال ۳.۵۰

۴۰۴۳ □

۴۰۴۴ خفی تفرق چار اقدام پر مشتمل ہے۔

۴۰۴۵ ۱. y کو x کا قابل تفرق تفاعل تصور کرتے ہوئے مساوات کے دونوں اطراف کو تفرق کے قواعد کے مطابق تفرق کریں۔

۴۰۴۶ ۲. $\frac{\mathrm{d}y}{\mathrm{d}x}$ والے اجزاء کو ایک طرف اکٹھا کریں۔

۴۰۴۷

۴۰۴۸ ۳. $\frac{\mathrm{d}y}{\mathrm{d}x}$ کی تجزی کریں۔

۴۰۴۹

۴۰۵۰ ۴. $\frac{\mathrm{d}y}{\mathrm{d}x}$ کے لئے حل کریں۔

۴۰۵۱ **عدسہ، مماس اور عمودی خطوط**

۴۰۵۲ روشنی کی کرن عدسہ میں نقطہ N پر داخل ہو کر سمت تبدیل کرتی ہے (شکل ۳.۵۷)۔

۴۰۵۳ تعریف: نقطہ N پر منحنی کے مماس کے ساتھ قائمہ خط کو **عمودی**[۴۵] کہتے ہیں۔ اس خط کو N پر منحنی کا **عمود** کہتے ہیں۔

۴۰۵۴ □

۴۰۵۵ عدسہ کی سطح پر تبصرہ عموماً دو درجی منحنیات کی مدد سے کیا جاتا ہے۔ ان منحنیات کے مماس اور عمود کو خفی تفرق سے حاصل کیا جا سکتا ہے۔

۴۰۵۶ مثال ۳.۵۰: نقطہ $(-1, 2)$ پر منحنی $x^2 - xy + y^2 = 7$ کا مماس اور عمود تلاش کریں (شکل ۳.۵۸)۔

---

[۴۵] normal

۴۰۵۷ حل: ہم خفی تفرق سے $\frac{dy}{dx}$ تلاش کرتے ہیں۔

$$\begin{aligned}
x^2 - xy + y^2 &= 7 \\
\frac{d}{dx}(x^2) - \frac{d}{dx}(xy) + \frac{d}{dx}(y^2) &= \frac{d}{dx}(7) \\
2x - (x\frac{dy}{dx} + y\frac{dx}{dx}) + 2y\frac{dy}{dx} &= 0 \\
(2y - x)\frac{dy}{dx} &= y - 2x \\
\frac{dy}{dx} &= \frac{y-2x}{2y-x}
\end{aligned}$$

۴۰۵۸ نقطہ $(x, y) = (-1, 2)$ پر ڈھلوان حاصل کرنے کی خاطر نقطے کو درج بالا میں پُر کرتے ہیں۔

$$\left.\frac{dy}{dx}\right|_{(-1,2)} = \left.\frac{y-2x}{2y-x}\right|_{(-1,2)} = \frac{2-2(-1)}{2(2)-(-1)} = \frac{4}{5}$$

۴۰۵۹ $(-1, 2)$ پر مماس کی مساوات حاصل کرتے ہیں۔

$$\begin{aligned}
y &= 2 + \frac{4}{5}(x - (-1)) \\
y &= \frac{4}{5} + \frac{14}{5}
\end{aligned}$$

۴۰۶۰ اسی طرح منحنی کا عمود نقطہ $(-1, 2)$ پر حاصل کرتے ہیں۔

$$\begin{aligned}
y &= 2 - \frac{5}{4}(x - (-1)) \\
y &= -\frac{5}{4} + \frac{3}{4}
\end{aligned}$$

۴۰۶۱ □

۴۰۶۲ برف کی روئی

۴۰۶۳ ہلگے ون کوچ[۴۶] کی منحنیات جنہیں برف کی روئی کہتے ہیں شکل ۳.۵۹ میں دکھائی گئی ہیں۔ شکل-۱ میں مساوی الاضلاع مثلث سے شروع کرتے ہیں جس کو ہم
۴۰۶۴ منحنی C_1 کہتے ہیں۔ ہر ضلع کے وسط پر باہر رخ مثلث الاضلاع بنا کر درمیانے $\frac{1}{3}$ ضلع کو مٹائیں۔ یوں منحنی C_2 حاصل ہو گی۔ اسی عمل کو دہراتے ہوئے
۴۰۶۵ لامتناہی منحنیات بنائی جا سکتی ہیں۔ ان منحنیات کی تحدیدی صورت C_n کو **برف کی روئی**[۴۷] کہتے ہیں، جہاں عدد n لامتناہی تک پہنچتا ہے۔

---

[۴۶] کیں۔ پیش منحنیات یہ میں ۱۹۰۴ نے دان ریاضی کے سوئزرلینڈ
[۴۷] snowflake



(ا) منحنی C_1 (ب) منحنی C_2 (ج) منحنی C_3

شکل ۳.۵۹: برف کی روئی۔

برف کی روئی بہت زیادہ غیر ہموار ہے لہٰذا کسی بھی نقطہ پر اس کا مماس حاصل کرنا ممکن نہیں۔ اس کا مطلب ہے کہ تفاعل $F(x,y) = 0$ جو برف کی روئی کو ظاہر کرتا ہے، نہ y کو x کا قابل تفرق تفاعل اور نہ ہی x کو y کا قابل تفرق تفاعل ظاہر کرتا ہے۔ برف کی روئی پر صفحہ ۵۷۵ پر دوبارہ غور کیا جائے گا جہاں لمبائی قوس کی بات کی جائے گی۔

خفی تفرق سے بلند رتبی تفرق کا حصول

خفی تفرق سے بلند رتبی تفرق حاصل کیا جا سکتا ہے۔

مثال ۳.۵۱: $2x^3 - 3y^2 = 7$ کے لئے $\frac{d^2y}{dx^2}$ تلاش کریں۔

حل: ہم دونوں اطراف کا x کے لحاظ سے تفرق حاصل کرتے ہوئے پہلے $\frac{dy}{dx}$ حاصل کرتے ہیں۔

$$\begin{aligned}
2x^3 - 3y^2 &= 7 \\
\frac{d}{dx}(2x^3) - \frac{d}{dx}(3y^2) &= \frac{d}{dx}(7) \\
6x62 - 6yy' &= 0 \\
x^2 - yy' &= 0 \\
y' &= \frac{x^2}{y} \qquad (\text{اگر } y \neq 0)
\end{aligned}$$

اب مساوات $x^2 - yy' = 0$ کا تفرق لیتے ہوئے y'' حاصل کرتے ہیں۔

$$\begin{aligned}
\frac{d}{dx}(x^2) - \frac{d}{dx}(yy') &= \frac{d}{dx}(0) \\
2x - y'y' - yy'' &= 0 \\
yy'' &= 2x - (y')^2 \\
y'' &= \frac{2x}{y} - \frac{(y')^2}{y} \qquad (\text{اگر } y \neq 0)
\end{aligned}$$

۴۰۷۴ آخر میں $y' = \frac{x^2}{y}$ پُر کرتے ہوئے x اور y کے روپ میں y'' حاصل کرتے ہیں۔

$$y'' = \frac{2x}{y} - \frac{(x^2/y)^2}{y} = \frac{2x}{y} - \frac{x^4}{y^3} \qquad (\text{اگر } y \neq 0)$$

۴۰۷۵ □

۴۰۷۶ **قابل تفرق تفاعل کی ناطق طاقتیں**

۴۰۷۷ ہم جانتے ہیں کہ طاقتی قاعدہ:

$$\frac{\mathrm{d}}{\mathrm{d}x} x^n = nx^{n-1}$$

۴۰۷۸ عدد صحیح n کے لئے درست ہے۔ ہم اب دکھاتے ہیں کہ یہ قاعدہ ہر ناطق عدد کے لئے درست ہے۔

۴۰۷۹ مسئلہ ۳.۶: **ناطق طاقت کے لئے طاقتی قاعدہ**

۴۰۸۰ اگر n ناطق عدد ہو تب x^{n-1} کے دائرہ کار کے ہر اندرونی نقطہ x پر x^n قابل تفرق ہو گا اور یہ تفرق درج ذیل ہو گا۔

$$\frac{\mathrm{d}}{\mathrm{d}x} x^n = nx^{n-1}$$

۴۰۸۱ ثبوت: فرض کریں p اور q عدد صحیح ہیں جہاں $q > 0$ اور

$$y = \sqrt[q]{x^p} = x^{p/q}$$

۴۰۸۲ ہے۔ تب

$$y^q = x^p$$

۴۰۸۳ ہو گا۔ یہ مساوات x اور y کی طاقتوں کا ملاپ ہے لہٰذا اعلیٰ مسئلے (جس کا ذکر اس حصے کی ابتدا میں کیا گیا) کے تحت y متغیر x کا قابل تفرق تفاعل ہو گا۔

۴۰۸۴ چونکہ p اور q عدد صحیح ہیں (جن کے لئے ہمارے پاس قاعدہ طاقت موجود ہے) ہم خفی مساوات کے دونوں اطراف کا x کے لحاظ سے تفرق لے سکتے ہیں:

$$qy^{q-1}\frac{\mathrm{d}y}{\mathrm{d}x} = px^{p-1}$$

۴۰۸۵ اب اگر $y \neq 0$ ہو تب دونوں اطراف کو qy^{q-1} سے تقسیم کیا جا سکتا ہے:

$$\begin{aligned}\frac{\mathrm{d}y}{\mathrm{d}x} &= \frac{px^{p-1}}{qy^{q-1}}\\ &= \frac{p}{q}\cdot\frac{x^{p-1}}{(x^{(p/q)})^{q-1}}\\ &= \frac{p}{q}\cdot\frac{x^{p-1}}{x^{p-p/q}}\\ &= \frac{p}{q}\cdot x^{(p-1)-(p-p/q)}\\ &= \frac{p}{q}\cdot x^{(p/q)-1}\end{aligned}$$

۴۰۸۶ یوں ثبوت مکمل ہوتا ہے۔

۴۰۸۷ □

۴۰۸۸ مثال ۳.۵۲:

ا.

$$\frac{\mathrm{d}}{\mathrm{d}x}(x^{1/2}) = \frac{1}{2}x^{-1/2} = \frac{1}{2\sqrt{x}}$$ تفاعل $x \geq 0$ جبکہ تفرق $x > 0$ کے لئے معین ہے

ب.

$$\frac{\mathrm{d}}{\mathrm{d}x}(x^{1/5}) = \frac{1}{5}x^{-4/5}$$ تفاعل تمام x جبکہ تفرق $x \neq 0$ کے لئے معین ہے

۴۰۸۹ □

۴۰۹۰ طاقتی قاعدے کا ایک روپ جس میں زنجیری قاعدہ ضم ہے کہتا ہے کہ اگر n ناطق عدد ہو اور x پر u قابل تفرق ہو اور $(u(x))^{n-1}$ معین ہو تب
۴۰۹۱ x پر u^n قابل تفرق ہو گا اور یہ تفرق درج ذیل ہو گا۔

$$\frac{\mathrm{d}}{\mathrm{d}x}u^n = nu^{n-1}\frac{\mathrm{d}u}{\mathrm{d}x} \tag{۲}$$

۴۰۹۲ مثال ۳.۵۳:

ا.

$$\frac{\mathrm{d}}{\mathrm{d}x}(1-x^2)^{1/4} = \frac{1}{4}(1-x^2)^{-3/4}(-2x)$$

۴۰۹۳ تفاعل وقفہ $[-1,1]$ پر جبکہ تفرق وقفہ $(-1,1)$ پر معین ہے۔

ب.

$$\begin{aligned}\frac{\mathrm{d}}{\mathrm{d}x}(\cos x)^{-1/5} &= -\frac{1}{5}(\cos x)^{-6/5}\frac{\mathrm{d}}{\mathrm{d}x}(\cos x)\\ &= -\frac{1}{5}(\cos x)^{-6/5}(-\sin x)\\ &= \frac{1}{5}\sin x(\cos x)^{-6/5}\end{aligned}$$

۳۰۹۴ □

۳۰۹۵ **سوالات**

۳۰۹۶ **ناطق طاقتوں کا تفرق**

۳۰۹۷ سوال ۳.۳۱۱ تا سوال ۳.۳۲۰ میں $\frac{\mathrm{d}y}{\mathrm{d}x}$ تلاش کریں۔

۳۰۹۸ سوال ۳.۳۱۱: $y = x^{9/4}$

۳۰۹۹ سوال ۳.۳۱۲: $y = x^{-3/5}$

۳۱۰۰ سوال ۳.۳۱۳: $y = \sqrt[3]{2x}$

۳۱۰۱ سوال ۳.۳۱۴: $y = \sqrt[4]{5x}$

۳۱۰۲ سوال ۳.۳۱۵: $y = 7\sqrt{x+6}$

۳۱۰۳ سوال ۳.۳۱۶: $y = -2\sqrt{x-1}$

۳۱۰۴ سوال ۳.۳۱۷: $y = (2x+5)^{-1/2}$

۳۱۰۵ سوال ۳.۳۱۸: $y = (1-6x)^{2/3}$

۳۱۰۶ سوال ۳.۳۱۹: $y = x(x^2+1)^{1/2}$

۳۱۰۷ سوال ۳.۳۲۰: $y = x(x^2+1)^{-1/2}$

۳۱۰۸ سوال ۳.۳۲۱ تا سوال ۳.۳۲۸ میں پہلا تفرق تلاش کریں۔

۳۱۰۹ سوال ۳.۳۲۱: $s = \sqrt[7]{t^2}$

۳۱۱۰ سوال ۳.۳۲۲: $r = \sqrt[4]{\theta^{-3}}$

۳۱۱۱ سوال ۳.۳۲۳: $y = \sin[(2t+5)^{-2/3}]$

۳۱۱۲ سوال ۳.۳۲۴: $z = \cos[(1-6t)^{2/3}]$

۳۱۱۳ سوال ۳.۳۲۵: $f(x) = \sqrt{1-\sqrt{x}}$

۴۱۱۴ سوال ۳.۳۲۶: $g(x) = 2(2x^{-1/2}+1)^{-1/3}$

۴۱۱۵ سوال ۳.۳۲۷: $h(\theta) = \sqrt[3]{1+\cos(2\theta)}$

۴۱۱۶ سوال ۳.۳۲۸: $k(\theta) = (\sin(\theta+5))^{5/4}$

۴۱۱۷ **خفی تفرق**

۴۱۱۸ سوال ۳.۳۲۹ تا سوال ۳.۳۴۲ میں $\frac{\mathrm{d}y}{\mathrm{d}x}$ خفی تفرق کی مدد سے حاصل کریں۔

۴۱۱۹ سوال ۳.۳۲۹: $x^2y + xy^2 = 6$

۴۱۲۰ سوال ۳.۳۳۰: $x^3 + y^3 = 18xy$

۴۱۲۱ سوال ۳.۳۳۱: $2xy + y^2 = x + y$

۴۱۲۲ سوال ۳.۳۳۲: $x^3 - xy + y^3 = 1$

۴۱۲۳ سوال ۳.۳۳۳: $x^2(x-y)^2 = x^2 - y^2$

۴۱۲۴ سوال ۳.۳۳۴: $(3xy+7)^2 = 6y$

۴۱۲۵ سوال ۳.۳۳۵: $y^2 = \frac{x-1}{x+1}$

۴۱۲۶ سوال ۳.۳۳۶: $x^2 = \frac{x-y}{x+y}$

۴۱۲۷ سوال ۳.۳۳۷: $x = \tan y$

۴۱۲۸ سوال ۳.۳۳۸: $x = \sin y$

۴۱۲۹ سوال ۳.۳۳۹: $x + \tan(xy) = 0$

۴۱۳۰ سوال ۳.۳۴۰: $x + \sin y = xy$

۴۱۳۱ سوال ۳.۳۴۱: $y\sin(\frac{1}{y}) = 1 - xy$

۴۱۳۲ سوال ۳.۳۴۲: $y^2\cos(\frac{1}{y}) = 2x + 2y$

۴۱۳۳ سوال ۳.۳۴۳ تا سوال ۳.۳۴۶ میں $\frac{\mathrm{d}r}{\mathrm{d}\theta}$ تلاش کریں۔

۴۱۳۴ سوال ۳.۳۴۳: $\theta^{1/2} + r^{1/2} = 1$

۴۱۳۵ سوال ۳.۳۴۴: $r - 2\sqrt{\theta} = \frac{3}{2}\theta^{2/3} + \frac{4}{3}\theta^{3/4}$

۴۱۳۶ سوال ۳.۳۴۵: $\sin(r\theta) = \frac{1}{2}$

۴۱۳۷ سوال ۳.۳۴۶: $\cos r + \cos\theta = r\theta$

۴۱۳۸ **بلند رتبی تفرق**

۴۱۳۹ سوال ۳.۳۴۷ تا سوال ۳.۳۵۲ میں خفی تفرق کی مدد سے پہلے $\frac{\mathrm{d}y}{\mathrm{d}x}$ اور بعد میں $\frac{\mathrm{d}^2y}{\mathrm{d}x^2}$ تلاش کریں۔

سوال ۳.۳۴۷: $x^2 + y^2 = 1$

سوال ۳.۳۴۸: $x^{2/3} + y^{2/3} = 1$

سوال ۳.۳۴۹: $y^2 = x^2 + 2x$

سوال ۳.۳۵۰: $y^2 - 2x = 1 - 2y$

سوال ۳.۳۵۱: $2\sqrt{y} = x - y$

سوال ۳.۳۵۲: $xy + y^2 = 1$

سوال ۳.۳۵۳: نقطہ $(2,2)$ پر $x^3 + y^3 = 16$ کے لئے $\frac{\mathrm{d}^2 y}{\mathrm{d}x^2}$ کی قیمت تلاش کریں۔

سوال ۳.۳۵۴: نقطہ $(0,-1)$ پر $xy + y^2 = 1$ کے لئے $\frac{\mathrm{d}^2 y}{\mathrm{d}x^2}$ کی قیمت تلاش کریں۔

ڈھلوان، مماس اور عمود

سوال ۳.۳۵۵ تا سوال ۳.۳۵۶ میں دیے گئے نقطوں پر منحنی کا ڈھلوان تلاش کریں۔

سوال ۳.۳۵۵: $y^2 + x^2 = y^4 - 2x, \quad (-2,1), (-2,-1)$

سوال ۳.۳۵۶: $(x^2 + y^2)^2 = (x - y)^2, \quad (1,0), (1,-1)$

سوال ۳.۳۵۷ تا سوال ۳.۳۶۶ میں تصدیق کریں کہ دیا گیا نقطہ منحنی پر پایا جاتا ہے اور اس نقطے پر منحنی کے مماس اور عمود کی مساواتیں تلاش کریں۔

سوال ۳.۳۵۷: $x^2 + xy - y^2 = 1, \quad (2,3)$

سوال ۳.۳۵۸: $x^2 + y^2 = 25, \quad (3,-4)$

سوال ۳.۳۵۹: $x^2 y^2 = 9, \quad (-1,3)$

سوال ۳.۳۶۰: $y^2 - 2x - 4y - 1 = 0, \quad (-2,1)$

سوال ۳.۳۶۱: $6x^2 + 3xy + 2y^2 + 17y - 6 = 0, \quad (-1,0)$

سوال ۳.۳۶۲: $x^2 - \sqrt{3}xy + 2y^2 = 5, \quad (\sqrt{3},2)$

سوال ۳.۳۶۳: $2xy + \pi \sin y = 2\pi, \quad (1,\pi/2)$

سوال ۳.۳۶۴: $x \sin 2y = y \cos 2x, \quad (\pi/4,\pi/2)$

سوال ۳.۳۶۵: $y = 2\sin(\pi x - y), \quad (1,0)$

سوال ۳.۳۶۶: $x^2 \cos^2 y - \sin y = 0, \quad (0,\pi)$

سوال ۳.۳۶۷: محور x کو منحنی $x^2 + xy + y^2 = 7$ دو نقطوں پر قطع کرتی ہے۔ ان نقطوں کو تلاش کریں اور دکھائیں کہ ان نقطوں پر منحنی کے مماس آپس میں متوازی ہیں۔ ان مماس کا ڈھلوان کیا ہو گا؟

سوال ۳.۳۶۸: منحنی $x^2 + y^2 + xy = 7$ پر وہ نقطے تلاش کریں جہاں (ا) مماس x محور کے متوازی ہے، (ب) مماس y محور کے متوازی ہے۔ دوسرے جزو میں $\frac{\mathrm{d}y}{\mathrm{d}x}$ غیر معین جبکہ $\frac{\mathrm{d}x}{\mathrm{d}y}$ معین ہے۔ ان نقطوں پر $\frac{\mathrm{d}x}{\mathrm{d}y}$ کی قیمت کیا ہو گی؟

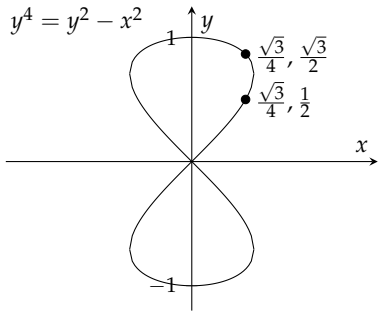

شکل ۳.۶۰: منحنی آٹھ (سوال ۳.۳۶۹)

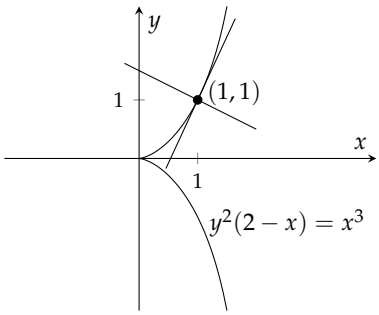

شکل ۳.۶۱: منحنی برائے سوال ۳.۳۷۰

سوال ۳.۳۶۹: منحنی آٹھ نقطہ $\left(\frac{\sqrt{3}}{4}, \frac{\sqrt{3}}{2}\right)$ اور $\left(\frac{\sqrt{3}}{4}, \frac{1}{2}\right)$ پر $y^4 = y^2 - x^2$ کا ڈھلوان تلاش کریں (شکل ۳.۶۰)۔

سوال ۳.۳۷۰: نقطہ $(1,1)$ پر $y^2(2-x) = x^3$ کے مماس اور عمود کی مساواتیں تلاش کریں (شکل ۳.۶۱)۔

سوال ۳.۳۷۱: چار نقطوں $(-3,2)$ ، $(-3,-2)$ ، $(3,2)$ اور $(3,-2)$ پر $y^4 - 4y^2 = x^4 - 9x^2$ کا ڈھلوان تلاش کریں۔

سوال ۳.۳۷۲:

ا. نقطہ $(4,2)$ اور $(2,4)$ پر پتا $x^3 + y^3 - 9xy = 0$ کا ڈھلوان تلاش کریں (شکل ۳.۵۴)۔

ب. مبدا کے علاوہ پتے کا مماس کس نقطے پر افقی ہے؟

ج. کس نقطے پر پتے کا مماس انتصابی ہے؟

نظریہ اور مثالیں

سوال ۳.۳۷۳: اگر $f''(x) = x^{-1/3}$ ہو تب درج ذیل میں سے کون سے درست ہوں گے؟

ا. $f(x) = \frac{3}{2}x^{2/3} - 3$

ب. $f(x) = \frac{9}{10}x^{5/3} - 7$

ج. $f'''(x) = -\frac{1}{3}x^{-4/3}$

د. $f'(x) = \frac{3}{2}x^{2/3} + 6$

سوال ۳.۳۷۴: کیا نقطہ $(1,1)$ اور $(1,-1)$ پر $2x^2 + 3y^2 = 5$ اور $y^2 = x^3$ کے مماس میں کوئی خاصیت پائی جاتی ہے؟ اپنے جواب کی وجہ پیش کریں (شکل ۳.۶۲)۔

سوال ۳.۳۷۵: نقطہ $(1,1)$ پر منحنی $x^2 + 2xy - 3y^2 = 0$ کا مماس اس منحنی کو کس دوسرے نقطے پر قطع کرتا ہے؟

سوال ۳.۳۷۶: منحنی $xy + 2x - y = 0$ کا ایسا عمود تلاش کریں جو $2x + y = 0$ کے متوازی ہو۔

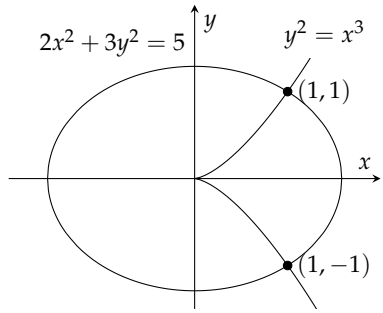

شکل ۳.۶۲: ترسیم برائے سوال ۳.۳۷۴

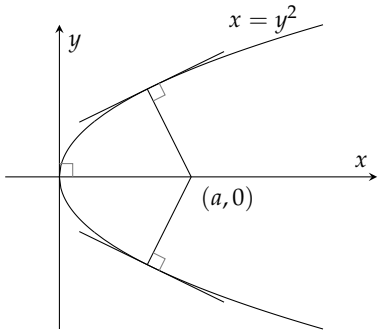

شکل ۳.۶۳: منحنی برائے سوال ۳.۳۷۷

سوال ۳.۳۷۷: دکھائیں کہ اگر نقطہ $(a, 0)$ سے قطع مکافی $x = y^2$ تک تین عمود بنانا ممکن ہو تب $a > \frac{1}{2}$ ہوگا۔ تیسرا عمود x محور ہے۔ a کی کس قیمت کے لئے باقی دو عمود آپس میں قائمہ الزاویہ ہیں (شکل ۳.۶۳)؟

سوال ۳.۳۷۸: مثال ۳.۵۲ اور مثال ۳.۵۳-ا میں کس جیومیٹری کی وجہ سے دائرہ کار کی حدود تعین ہوتی ہیں؟

سوال ۳.۳۷۹ اور سوال ۳.۳۸۰ میں پہلے y کو x کا تفاعل تصور کرتے ہوئے $\frac{dy}{dx}$ تلاش کریں اور اس کے بعد x کو y کا تفاعل تصور کرتے ہوئے $\frac{dx}{dy}$ تلاش کریں۔ کیا $\frac{dy}{dx}$ اور $\frac{dx}{dy}$ کا آپس میں کوئی تعلق پایا جاتا ہے؟ کیا آپ اس تعلق کو منحنی کی ترسیم کی مدد سے جیومیٹری کے ذریعہ سمجھ سکتے ہیں؟

سوال ۳.۳۷۹: $xy^3 + x^2y = 6$

سوال ۳.۳۸۰: $x^3 + y^2 = \sin^2 y$

کمپیوٹر کا استعمال

سوال ۳.۳۸۱:

ا. منحنی $x^4 + 4y^2 = 1$ کا $\frac{dy}{dx}$ عمومی طریقے سے اور مخفی طریقے سے حاصل کریں۔ کیا دونوں جوابات ایک جیسے ہیں؟

ب. مساوات $x^4 + 4y^2 = 1$ کو y کے لئے حل کرتے ہوئے تمام حاصل تفاعل کو ترسیم کرتے ہوئے $x^4 + 4y^2 = 1$ کی مکمل ترسیم کھینچیں۔ اب ساتھ ہی ان تفاعل کے یک رتبی تفرق کی ترسیم بھی شامل کریں۔ کیا $x^4 + 4y^2 = 1$ کی ترسیم کو دیکھ کر آپ اس کے تفرق کی صورت کا اندازہ لگا سکتے تھے؟ کیا مساوات کے تفرق کی تقسیم کو دیکھ کر آپ مساوات کی صورت کا اندازہ لگا سکتے تھے؟ اپنے جواب کی وجہ پیش کریں۔

سوال ۳.۳۸۲:

ا. $(x-2)^2 + y^2 = 4$ کا تفرق $\frac{dy}{dx}$ دو طریقوں سے تلاش کریں۔ پہلی مرتبہ مساوات کو y کے لئے حل کرتے ہوئے تفرق حاصل کریں جبکہ دوسری مرتبہ خفی طریقہ استعمال کریں۔ کیا دونوں مرتبہ ایک سے جوابات حاصل ہوتے ہیں؟

ب. $(x-2)^2 + y^2 = 4$ کو y کے لئے حل کریں۔ تمام حاصل تفاعل کی ترسیم کھینچ کر مساوات $(x-2)^2 + y^2 = 4$ کی مکمل ترسیم حاصل کریں۔ اب تفاعل کے یک رتبی تفرق کی ترسیم بھی شامل کریں۔ کیا آپ مساوات کی ترسیم کو دیکھ کر اس کے تفرق کی ترسیم کا اندازہ لگا سکتے

تھے؟ کیا آپ تفرق کی ترسیم کو دیکھ کر مساوات کی ترسیم کا اندازہ لگا سکتے تھے؟ اپنے جواب کی وجہ پیش کریں۔

سوال ۳.۳۸۳ تا سوال ۳.۳۹۰ میں درج ذیل اقدام کریں۔

ا. کمپیوٹر پر مساوات کو ترسیم کریں۔ تصدیق کریں کہ نقطہ N مساوات کو مطمئن کرتا ہے۔

ب. مخفی طریقہ سے تفرق $\frac{\mathrm{d}y}{\mathrm{d}x}$ کا کلیہ حاصل کرتے ہوئے نقطہ N پر اس کی قیمت تلاش کریں۔

ج. N پر ڈھلوان کی قیمت استعمال کرتے ہوئے اس نقطے پر مماس کی مساوات حاصل کریں۔ مماس اور مساوات کو اکٹھا ترسیم کریں۔

سوال ۳.۳۸۳: $x^3 - xy + y^3 = 7, \quad N(2,1)$

سوال ۳.۳۸۴: $x^5 + y^3x + yx^2 + y^4 = 4, \quad N(1,1)$

سوال ۳.۳۸۵: $y^2 + y = \frac{2+x}{1-x}, \quad N(0,1)$

سوال ۳.۳۸۶: $y^3 + \cos(xy) = x^2, \quad N(1,0)$

سوال ۳.۳۸۷: $x + \tan(\frac{y}{x}) = 2, \quad N(1,\pi/2)$

سوال ۳.۳۸۸: $xy^3 + \tan(x+y) = 1, \quad N(\pi/4,0)$

سوال ۳.۳۸۹: $2y^2 + (xy)^{1/3} = x^2 + 2, \quad N(1,1)$

سوال ۳.۳۹۰: $x\sqrt{1+2y} + y = x^2, \quad N(1,0)$

۳.۷ دیگر شرح تبدیلی

ٹینکی سے $3000\ \mathrm{L\ min^{-1}}$ پانی کے انعکاس سے ٹینکی میں پانی کی گہرائی کس شرح سے تبدیل ہو گی؟ اس طرح کے سوالات میں ہم اس شرح کو معلوم کرنا چاہتے ہیں جس کو ہم ناپ نہیں سکتے۔ قابل ناپ شرح استعمال کرتے ہوئے یہ معلومات حاصل کی جاتی ہے۔

مثال ۳.۵۴: انعکاس

$3000\ \mathrm{L\ min^{-1}}$ کی شرح سے انعکاس کی صورت میں ٹینکی میں پانی کی گہرائی کم ہونے کی شرح جاننے کی خاطر ہم رداس r کی ٹینکی لیتے ہیں جس میں پانی کی گہرائی h ہے۔ یوں پانی کا حجم $H = \pi r^2 h$ ہو گا جہاں حجم کو H سے ظاہر کیا گیا ہے (شکل ۳.۶۴)۔ اب ہمیں انعکاس

$$\frac{\mathrm{d}H}{\mathrm{d}t} = -3000$$

بتلایا گیا ہے جہاں t وقت کو ظاہر کرتا ہے اور وقت کے ساتھ حجم کم ہونے کو منفی کی علامت سے ظاہر کیا گیا ہے۔ ہمیں

$$\frac{\mathrm{d}h}{\mathrm{d}t}$$

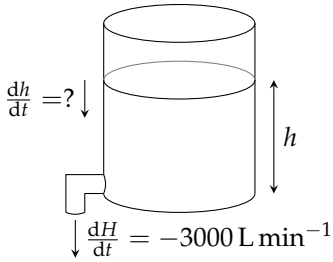

شکل ۳.۶۴: پانی کی ٹینکی (مثال ۳.۵۴)

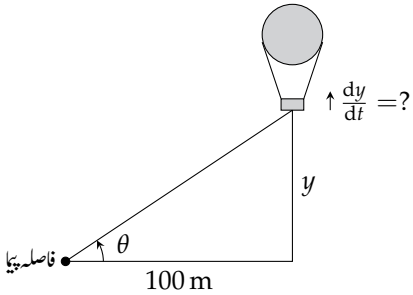

شکل ۳.۶۵: غبارہ (مثال ۳.۵۵)

۴۲۲۵ تلاش کرنا ہے۔ ایسا کرنے کی خاطر ہمیں H اور h کا تعلق مساوات کی صورت میں لکھنا ہو گا۔ یہ مساوات متغیرات کی اکائیوں پر منحصر ہو گی۔ یوں حجم کو لٹر
۴۲۲۶ جبکہ رداس اور گہرائی کو میٹر میں رکھتے ہوئے درج ذیل لکھا جا سکتا ہے۔

$$H = 1000\pi r^2 h$$

۴۲۲۷ یاد رہے کہ ایک مربع میٹر میں 1000 لٹر ہوتے ہیں۔ دونوں اطراف کا وقت کے ساتھ تفرق لیتے ہیں

$$\frac{dH}{dt} = 1000\pi r^2 \frac{dh}{dt}$$

۴۲۲۸ جہاں دائیں جانب r مستقل ہے۔ اس میں $\frac{dH}{dt}$ کی معلوم قیمت پُر کرتے ہوئے نامعلوم شرح $\frac{dh}{dt}$ حاصل کرتے ہیں۔

$$\frac{dh}{dt} = \frac{-3000}{1000\pi r^2} = -\frac{3}{\pi r^2}$$

۴۲۲۹ پانی کی گہرائی $\frac{3}{\pi r^2}$ میٹر فی منٹ کی شرح سے کم ہو گی۔ آپ دیکھ سکتے ہیں کہ یہ شرح رداس پر منحصر ہے۔ کم رداس کی صورت میں شرح زیادہ اور زیادہ رداس
۴۲۳۰ کی صورت میں شرح کم ہو گی۔ مثلاً $r = 1\,\mathrm{m}$ اور $r = 10\,\mathrm{m}$ کی صورت میں شرحیں درج ذیل ہوں گی۔

$$\frac{dh}{dt} = -\frac{3}{\pi} \approx -0.95\,\mathrm{m\,min^{-1}} = -95\,\mathrm{cm\,min^{-1}} \qquad (r = 1\,\mathrm{m})$$
$$\frac{dh}{dt} = -\frac{3}{100\pi} \approx -0.0095\,\mathrm{m\,min^{-1}} = -0.95\,\mathrm{cm\,min^{-1}} \qquad (r = 10\,\mathrm{m})$$

۴۲۳۱ □

۴۲۳۲ مثال ۳.۵۵: غبارہ کی اڑان گرم ہوا کا غبارہ زمین سے سیدھا آسمان کی طرف اٹھتا ہے (شکل ۳.۶۵)۔ غبارے کے نقطہ اڑان سے 100 m دور واقع فاصلہ
۴۲۳۳ پیما[۴۸] سے غبارے پر نظر رکھی جاتی ہے۔ جس لمحہ فاصلہ پیما کا زاویہ صعود $\frac{\pi}{4}$ تھا اس لمحہ زاویہ کی تبدیلی کی شرح $0.14\,\mathrm{rad\,min^{-1}}$ تھی۔ اس لمحہ پر

[۴۸] rangefinder

غبارہ کس رفتار سے اوپر جا رہا تھا؟

حل: ہم اس کا جواب چھ قدموں میں دیتے ہیں۔

پہلا قدم: موقع کی تصور کشی کریں اور متغیرات کی نشاندہی کریں۔ تصویر میں متغیرات θ اور y درج ذیل ہیں جو بالترتیب فاصلہ پیما کا زاویہ صعود اور غبارے کی بلندی کو ظاہر کرتے ہیں۔ ہم وقت کو t سے ظاہر کرتے ہیں اور فرض کرتے ہیں کہ θ اور y متغیر t کے قابل تفرق تفاعل ہیں۔ فاصلہ پیما سے غبارے کے ابتدائی مقام تک فاصلہ 100 m ہے جس کو متغیر سے ظاہر کرنے کی ضرورت نہیں۔

دوسرا قدم: ان معلومات کو الجبرائی روپ میں لکھتے ہیں۔

$$\frac{\mathrm{d}\theta}{\mathrm{d}t} = 0.14\,\mathrm{rad\,min^{-1}} \qquad (\theta = \tfrac{\pi}{4})$$

تیسرا قدم: جو ہم سے پوچھا گیا ہے اس کو لکھیں۔ ہم سے $\theta = \pi/4$ کی صورت میں $\frac{\mathrm{d}y}{\mathrm{d}t}$ پوچھا گیا ہے۔

چوتھا قدم: متغیرات θ اور y کا آپس میں تعلق لکھیں۔

$$\frac{y}{100} = \tan\theta \quad \Longrightarrow \quad y = 100\tan\theta$$

پانچواں قدم: زنجیری قاعدہ استعمال کرتے ہوئے t کے لحاظ سے تفرق حاصل کریں جو $\frac{\mathrm{d}y}{\mathrm{d}t}$ (درکار معلومات) اور $\frac{\mathrm{d}\theta}{\mathrm{d}t}$ (معلوم معلومات) کے بیچ تعلق دیگا۔

$$\frac{\mathrm{d}y}{\mathrm{d}t} = 100\sec^2\theta\frac{\mathrm{d}\theta}{\mathrm{d}t}$$

چھٹا قدم: $\theta = \frac{\pi}{4}$ اور $\frac{\mathrm{d}\theta}{\mathrm{d}t} = 0.14$ پُر کرتے ہوئے $\frac{\mathrm{d}y}{\mathrm{d}t}$ کی قیمت تلاش کریں۔

$$\frac{\mathrm{d}y}{\mathrm{d}t} = 100(\sec\tfrac{\pi}{4})^2(0.14) = 28\,\mathrm{m\,min^{-1}}$$

□

اس طرح کے مسائل حل کرنے کا لائحہ عمل

- مسئلے کی تصور کشی کریں۔ وقت کو t سے ظاہر کریں اور تمام متغیرات کو t کے قابل تفرق تفاعل تصور کریں۔
- اعدادی معلومات کو منتخب کردہ متغیرات کے روپ میں لکھیں۔
- مطلوبہ شرح یا متغیر کو لکھیں (جو شرح کی صورت میں عموماً تفرق کے روپ میں ہوگا)۔
- متغیرات کا آپس میں تعلق لکھیں۔ کئی مرتبہ دو یا دو سے زیادہ مساواتوں کو اکٹھے کرتے ہوئے ایک مساوات حاصل کرنی ہوگی۔
- اس کا t کے لحاظ سے تفرق لیں۔ اس کے بعد درکار شرح کو باقی متغیرات (جن کی قیمتیں آپ جانتے ہیں) کی صورت میں لکھیں۔

- معلوم معلومات کو پُر کرتے ہوئے نامعلوم شرح کی قیمت دریافت کریں۔

مثال ۳.۵۶: پولیس ایک گاڑی کا پیچھا کر رہی ہے۔ جب چوک سے پولیس کی گاڑی کا فاصلہ 0.6 km اور بھاگنے والی گاڑی کا فاصلہ 0.8 km ہے اس لمحہ پر دونوں گاڑیوں کے بیچ فاصلہ $20\,\mathrm{km\,h^{-1}}$ سے بڑھ رہا ہے۔ پولیس کی گاڑی کی رفتار $60\,\mathrm{km\,h^{-1}}$ ہونے کی صورت میں بھاگنے والی گاڑی کی رفتار کیا ہو گی؟

حل: ہم مذکورہ بالا اقدام پر چلتے ہوئے مسئلہ حل کرتے ہیں۔

پہلا قدم: تصویر کشی اور متغیرات۔ ہم کارتیسی محدد پر تصویر کشی کرتے ہیں۔ چوک کو مبدا پر رکھتے ہوئے بھاگنے والی گاڑی کو x محور جبکہ پولیس کی گاڑی کو y محور پر رکھتے ہیں۔ وقت کو t سے ظاہر کرتے ہوئے لمحہ t پر بھاگنے والی گاڑی کا مقام x، پولیس کی گاڑی کا مقام y۔ اور دونوں گاڑیوں کے بیچ فاصلہ s ہے۔ ہم فرض کرتے ہیں کہ x، y، اور s متغیر t کے قابل تفرق تفاعل ہیں۔

دوسرا قدم: اعدادی معلومات۔ لمحہ t پر درج ذیل ہمیں معلوم ہے۔

$$x = 0.8\,\mathrm{km}, \quad y = 0.6\,\mathrm{km}, \quad \frac{\mathrm{d}y}{\mathrm{d}t} = -60\,\mathrm{km\,h^{-1}}, \quad \frac{\mathrm{d}s}{\mathrm{d}t} = 20\,\mathrm{km\,h^{-1}}$$

$\frac{\mathrm{d}y}{\mathrm{d}t}$ اس لئے منفی ہے کہ پولیس کی گاڑی مبدا کی طرف یعنی گھٹتی y رخ چل رہی ہے۔

تیسرا قدم: ہمیں $\frac{\mathrm{d}x}{\mathrm{d}t}$ تلاش کرنا ہے۔

چوتھا قدم: مسئلہ فیثاغورث کے تحت متغیرات کا تعلق $s^2 = x^2 + y^2$ ہے۔

پانچواں قدم: زنجیری قاعدہ کی مدد سے t کے لحاظ سے تفرق لیتے ہیں۔

$$\begin{aligned}
2s\frac{\mathrm{d}s}{\mathrm{d}t} &= 2x\frac{\mathrm{d}x}{\mathrm{d}t} + 2y\frac{\mathrm{d}y}{\mathrm{d}t}\\
\frac{\mathrm{d}s}{\mathrm{d}t} &= \frac{1}{s}\left(x\frac{\mathrm{d}x}{\mathrm{d}t} + y\frac{\mathrm{d}y}{\mathrm{d}t}\right)\\
&= \frac{1}{\sqrt{x^2+y^2}}\left(x\frac{\mathrm{d}x}{\mathrm{d}t} + y\frac{\mathrm{d}y}{\mathrm{d}t}\right)
\end{aligned}$$

چھٹا قدم: $x = 0.8$، $y = 0.6$، $\frac{\mathrm{d}y}{\mathrm{d}t} = -60$، اور $\frac{\mathrm{d}s}{\mathrm{d}t} = 20$ پُر کرتے ہوئے $\frac{\mathrm{d}x}{\mathrm{d}t}$ کی قیمت معلوم کریں۔

$$\begin{aligned}
20 &= \frac{1}{\sqrt{0.8^2+0.6^2}}\left(0.8\frac{\mathrm{d}x}{\mathrm{d}t} + 0.6(-60)\right)\\
20 &= 0.8\frac{\mathrm{d}x}{\mathrm{d}t} - 36\\
\frac{\mathrm{d}x}{\mathrm{d}t} &= \frac{20+36}{0.8} = 70
\end{aligned}$$

اس لمحے پر بھاگنے والی گاڑی کی رفتار $70\,\mathrm{km\,h^{-1}}$ ہے۔

□

مثال ۳.۵۷: پانی کی مخروطی ٹینکی $9\,\mathrm{m}^3\,\mathrm{min}^{-1}$ شرح سے بھری جاتی ہے۔ مخروط کے قاعدہ کا رداس $5\,\mathrm{m}$، اس کا قد $10\,\mathrm{m}$ ہے اور اس کی نوک نیچے جانب ہے۔ جس لمحہ پانی کی گہرائی $6\,\mathrm{m}$ ہو اس لمحہ گہرائی کس شرح سے بڑھتی ہے؟

حل: ہم مذکورہ بالا اقدام پر چلتے ہوئے اس مسئلے کو حل کرتے ہیں۔

پہلا قدم: تصویر کشی اور متغیرات۔ نیم بھری ٹینکی کی شکل بناتے ہیں۔ اس مسئلے کے متغیرات درج ذیل ہیں۔

H : لمحہ t (منٹ) پر ٹینکی میں پانی کا حجم (مربع میٹر)۔

x : لمحہ t (منٹ) پر پانی کی سطح کا رداس (میٹر)۔

y : لمحہ t (منٹ) پر پانی کی گہرائی (میٹر)۔

ہم فرض کرتے ہیں کہ H ، x، اور y متغیر t کے قابل تفرق تفاعل ہیں۔ ٹینکی کی جسامت مستقل مقدار ہے۔

دوسرا قدم: اعدادی معلومات۔ لمحہ t پر ہمیں درج ذیل معلوم ہے۔

$$y = 6\,\mathrm{m}, \quad \frac{\mathrm{d}H}{\mathrm{d}t} = 9\,\mathrm{m}^3\,\mathrm{min}^{-1}$$

تیسرا قدم: ہمیں $\frac{\mathrm{d}y}{\mathrm{d}t}$ تلاش کرنا ہے۔

چوتھا قدم: متغیرات کا آپس میں تعلق:

$$H = \frac{1}{3}\pi x^2 y$$

چونکہ لمحہ t پر ہمیں x اور $\frac{\mathrm{d}x}{\mathrm{d}t}$ کے بارے میں معلومات فراہم نہیں کی گئی لہٰذا ہمیں x سے چھٹکارا حاصل کرنا ہوگا۔ متشابہ مثلثات استعمال کرتے ہوئے شکل سے

$$\frac{x}{y} = \frac{5}{10} \quad \Longrightarrow \quad x = \frac{y}{2}$$

لکھا جا سکتا ہے۔ یوں درج ذیل ہوگا۔

$$H = \frac{1}{3}\pi(\tfrac{y}{2})^2 y = \frac{\pi}{12}y^3$$

پانچواں قدم: t کے لحاظ سے تفرق۔ درج بالا مساوات کا تفرق لیتے ہیں۔

$$\frac{\mathrm{d}H}{\mathrm{d}t} = \frac{\pi}{12}\cdot 3y^2\frac{\mathrm{d}y}{\mathrm{d}t} = \frac{\pi}{4}y^2\frac{\mathrm{d}y}{\mathrm{d}t}$$

۴۲۸۳ اس کو $\frac{\mathrm{d}y}{\mathrm{d}t}$ کے لئے حل کرتے ہیں۔

$$\frac{\mathrm{d}y}{\mathrm{d}t} = \frac{4}{\pi y^2}\frac{\mathrm{d}H}{\mathrm{d}t}$$

۴۲۸۴ **چھٹا قدم:** دی گئی معلومات یعنی $y = 6$ اور $\frac{\mathrm{d}H}{\mathrm{d}t} = 9$ پُر کرتے ہیں۔

$$\frac{\mathrm{d}y}{\mathrm{d}t} = \frac{4}{\pi(6^2)} \cdot 9 = \frac{1}{\pi} \approx 0.32\,\mathrm{m\,min^{-1}}$$

۴۲۸۵ اس لمحے پر پانی کی گہرائی $0.32\,\mathrm{m\,min^{-1}}$ شرح سے بڑھ رہی ہے۔ □

۴۲۸۶ **سوالات**

۴۲۸۷ سوال ۳.۳۹۱: فرض کریں کہ دائرے کا رداس r اور رقبہ $S = \pi r^2$ وقت t کے قابل تفرق تفاعل ہیں۔ $\frac{\mathrm{d}S}{\mathrm{d}t}$ اور $\frac{\mathrm{d}r}{\mathrm{d}t}$ کا تعلق لکھیں۔

۴۲۸۸ سوال ۳.۳۹۲: فرض کریں کرہ کا رداس r اور سطحی رقبہ $S = \frac{4}{3}\pi r^2$ وقت t کے قابل تفرق تفاعل ہیں۔ $\frac{\mathrm{d}S}{\mathrm{d}t}$ اور $\frac{\mathrm{d}r}{\mathrm{d}t}$ کا تعلق لکھیں۔

۴۲۸۹ سوال ۳.۳۹۳: بیلن کے رداس r، قد h، اور حجم H کا تعلق $H = \pi r^2 h$ ہے۔

۴۲۹۰ ا. r کو مستقل تصور کرتے ہوئے $\frac{\mathrm{d}H}{\mathrm{d}t}$ اور $\frac{\mathrm{d}h}{\mathrm{d}t}$ کا آپس میں تعلق تلاش کریں۔

۴۲۹۱ ب. h کو مستقل تصور کرتے ہوئے $\frac{\mathrm{d}H}{\mathrm{d}t}$ اور $\frac{\mathrm{d}r}{\mathrm{d}t}$ کا آپس میں تعلق تلاش کریں۔

۴۲۹۲ ج. اگر نہ r اور نہ h مستقل ہوں تب $\frac{\mathrm{d}H}{\mathrm{d}t}$ اور $\frac{\mathrm{d}r}{\mathrm{d}t}$ کا آپس میں کیا تعلق ہو گا؟

۴۲۹۳ سوال ۳.۳۹۴: سیدھے کھڑے مخروط جس کا رداس r اور قد h ہوں کا حجم $H = \frac{1}{3}\pi r^2 h$ ہو گا۔

۴۲۹۴ ا. مستقل r کی صورت میں $\frac{\mathrm{d}H}{\mathrm{d}t}$ اور $\frac{\mathrm{d}h}{\mathrm{d}t}$ کا آپس میں کیا تعلق ہے؟

۴۲۹۵ ب. مستقل h کی صورت میں $\frac{\mathrm{d}H}{\mathrm{d}t}$ اور $\frac{\mathrm{d}r}{\mathrm{d}t}$ کا آپس میں کیا تعلق ہے؟

۴۲۹۶ ج. غیر مستقل h اور r کی صورت میں $\frac{\mathrm{d}H}{\mathrm{d}t}$ ، $\frac{\mathrm{d}r}{\mathrm{d}t}$، اور $\frac{\mathrm{d}h}{\mathrm{d}t}$ کا آپس میں کیا تعلق ہے؟

۴۲۹۷ سوال ۳.۳۹۵: مزاحمت R میں برقی رو I اور برقی دباو V کا تعلق $V = IR$ ہے (شکل ۳.۶۶ میں دکھایا گیا برقی دور)۔ فرض کریں کہ برقی دباو
۴۲۹۸ $1\,\mathrm{V\,s^{-1}}$ سے بڑھ رہا ہو جبکہ برقی رو $\frac{1}{3}\,\mathrm{A\,s^{-1}}$ سے گھٹ رہی ہے۔

۴۲۹۹ ا. $\frac{\mathrm{d}V}{\mathrm{d}t}$ کی قیمت کیا ہے؟

۴۳۰۰ ب. $\frac{\mathrm{d}I}{\mathrm{d}t}$ کی قیمت کیا ہے؟

۴۳۰۱ ج. $\frac{\mathrm{d}R}{\mathrm{d}t}$ ، $\frac{\mathrm{d}V}{\mathrm{d}t}$، اور $\frac{\mathrm{d}R}{\mathrm{d}t}$ کا آپس میں کیا تعلق ہے؟

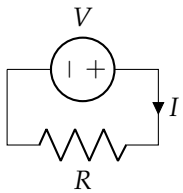

شکل ۳.۶۶: برقی دور برائے سوال ۳.۳۹۵

د. جب $V = 12$ وولٹ اور $I = 2$ ایمپیئر ہوں تب $\frac{\mathrm{d}R}{\mathrm{d}t}$ کیا ہوگا؟ کیا R بڑھ رہا ہوگا یا گھٹ رہا ہوگا؟

سوال ۳.۳۹۶: برقی دور میں طاقت P، مزاحمت R، اور برقی رو i کا تعلق $P = i^2R$ ہے۔ طاقت، مزاحمت، اور برقی رو کی اکائیاں بالترتیب واٹ (W)، اوہم Ω، اور ایمپیئر (A) ہیں۔

ا. $\frac{\mathrm{d}P}{\mathrm{d}t}$ ، $\frac{\mathrm{d}R}{\mathrm{d}t}$، اور $\frac{\mathrm{d}i}{\mathrm{d}t}$ کا تعلق کیا ہے جہاں P ، R، اور i میں سے کوئی بھی مستقل نہیں۔

ب. مستقل P کی صورت میں $\frac{\mathrm{d}R}{\mathrm{d}t}$ اور $\frac{\mathrm{d}i}{\mathrm{d}t}$ کا کیا تعلق ہے؟

سوال ۳.۳۹۷: کارتیسی محدد میں نقطہ $(x, 0)$ اور $(0, y)$ کے بیچ فاصلہ $s = \sqrt{x^2 + y^2}$ ہے۔ وقت کو t سے ظاہر کریں۔

ا. مستقل y کی صورت میں $\frac{\mathrm{d}s}{\mathrm{d}t}$ اور $\frac{\mathrm{d}x}{\mathrm{d}t}$ کا تعلق کیا ہوگا؟

ب. اگر x اور y دونوں متغیر ہوں تب $\frac{\mathrm{d}s}{\mathrm{d}t}$ کا $\frac{\mathrm{d}y}{\mathrm{d}t}$ اور $\frac{\mathrm{d}x}{\mathrm{d}t}$ کے ساتھ کیا تعلق ہوگا؟

ج. مستقل s کی صورت میں $\frac{\mathrm{d}y}{\mathrm{d}t}$ اور $\frac{\mathrm{d}x}{\mathrm{d}t}$ کا کیا تعلق ہوگا؟

سوال ۳.۳۹۸: مستطیل ڈبے کے اطراف کی لمبائیاں x ، y، اور z ہیں۔ ڈبے کے وتر کی لمبائی $s = \sqrt{x^2 + y^2 + z^2}$ ہوگی۔

ا. فرض کریں x ، y، اور z مستقل نہیں ہیں۔ $\frac{\mathrm{d}s}{\mathrm{d}t}$ ، $\frac{\mathrm{d}x}{\mathrm{d}t}$ ، $\frac{\mathrm{d}y}{\mathrm{d}t}$، اور $\frac{\mathrm{d}z}{\mathrm{d}t}$ کا آپس میں کیا تعلق ہوگا؟

ب. مستقل x کی صورت میں $\frac{\mathrm{d}s}{\mathrm{d}t}$ ، $\frac{\mathrm{d}y}{\mathrm{d}t}$، اور $\frac{\mathrm{d}z}{\mathrm{d}t}$ کا آپس میں کیا تعلق ہوگا؟

ج. مستقل x کی صورت میں $\frac{\mathrm{d}x}{\mathrm{d}t}$ ، $\frac{\mathrm{d}y}{\mathrm{d}t}$، اور $\frac{\mathrm{d}z}{\mathrm{d}t}$ کا آپس میں کیا تعلق ہوگا؟

سوال ۳.۳۹۹: ایک مثلث جس کے اضلاع a اور b ہیں جن کے بیچ زاویہ θ ہو کا رقبہ $S = \frac{1}{2}ab\sin\theta$ ہوگا۔

ا. مستقل a اور b کی صورت میں $\frac{\mathrm{d}S}{\mathrm{d}t}$ اور $\frac{\mathrm{d}\theta}{\mathrm{d}t}$ کا تعلق کیا ہوگا؟

ب. مستقل b کی صورت میں $\frac{\mathrm{d}S}{\mathrm{d}t}$ ، $\frac{\mathrm{d}a}{\mathrm{d}t}$، اور $\frac{\mathrm{d}\theta}{\mathrm{d}t}$ کا تعلق کیا ہوگا؟

ج. a ، b اور θ غیر مستقل ہونے کی صورت میں $\frac{\mathrm{d}S}{\mathrm{d}t}$ ، $\frac{\mathrm{d}a}{\mathrm{d}t}$ ، $\frac{\mathrm{d}b}{\mathrm{d}t}$، اور $\frac{\mathrm{d}\theta}{\mathrm{d}t}$ کا تعلق کیا ہوگا؟

سوال ۳.۴۰۰: دھاتی دائری تختہ جس کا رداس r ہے، کا رداس $0.01\ \mathrm{cm\ min^{-1}}$ شرح سے بڑھتا ہے۔ جب رداس $50\ \mathrm{cm}$ ہو تب تختے کا رقبہ کس شرح سے بڑھتا ہے۔

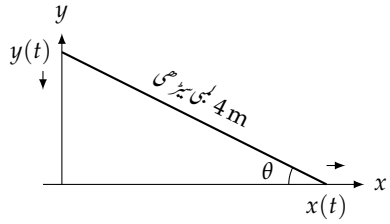

شکل ۳.۶۷: دیوار کے ساتھ سیڑھی (سوال ۳.۴۰۳)

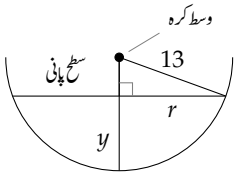

شکل ۳.۶۸: نصف کرہ ٹینکی (سوال ۳.۴۰۹)

سوال ۳.۴۰۱: مستطیل کی لمبائی l اور چوڑائی w کی شرح تبدیلی بالترتیب $2\,\mathrm{cm\,s^{-1}}$ اور $2\,\mathrm{cm\,s^{-1}}$ ہے۔ جب $l = 12\,\mathrm{cm}$ اور $w = 5\,\mathrm{cm}$ ہو تب شرح تبدیلی (ا) رقبہ، (ب) محیط، (ج) وتر کیا ہوں گے؟ ان میں سے کون سے بڑھ رہے ہیں اور کون سے گھٹ رہے ہیں؟

سوال ۳.۴۰۲: مستطیل ڈبے کے اضلاع کی لمبائیاں x ، y اور z ہیں۔ ان کی شرح تبدیلی

$$\frac{\mathrm{d}x}{\mathrm{d}t} = 1\,\mathrm{m\,s^{-1}}, \quad \frac{\mathrm{d}y}{\mathrm{d}t} = -2\,\mathrm{m\,s^{-1}}, \quad \frac{\mathrm{d}z}{\mathrm{d}t} = 1\,\mathrm{m\,s^{-1}}$$

ہیں۔ جس لمحہ $x = 4$ ، $y = 3$ ، اور $z = 2$ ہوں اس لمحہ ڈبے کے (ا) حجم، (ب) سطحی رقبہ، (ج) وتر $s = \sqrt{x^2 + y^2 + z^2}$ کی تبدیلی کی شرح کیا ہو گی؟

سوال ۳.۴۰۳: دیوار کے ساتھ لگی $4\,\mathrm{m}$ لمبی سیڑھی زمین پر پھسلنے لگتی ہے (شکل ۳.۶۷)۔ جس لمحہ زمین پر دیوار سے سیڑھی کا فاصلہ $3\,\mathrm{m}$ ہو اس لمحہ زمین پر سیڑھی کا سر $0.5\,\mathrm{m\,s^{-1}}$ کی شرح سے حرکت کر رہا ہے۔

ا. اس لمحے پر سیڑھی کا بالائی سر کس رفتار سے حرکت کرتا ہے؟

ب. سیڑھی، زمین، اور دیوار ایک مثلث بناتے ہیں۔ اس لمحے پر اس مثلث کا رقبہ کس شرح سے تبدیل ہوتا ہے؟

ج. اس لمحے پر سیڑھی اور زمین کے بیچ زاویہ θ کس شرح سے تبدیل ہو رہا ہے؟

سوال ۳.۴۰۴: دو ہوائی جہاز $7000\,\mathrm{m}$ کی بلندی پر آپس میں قائمہ راستوں پر سفر کر رہے ہیں۔ ان کے راستے نقطہ M پر ایک دوسرے کو قطع کرتے ہیں۔ جہاز الف کی رفتار $1000\,\mathrm{km\,h^{-1}}$ جبکہ جہاز ب کی رفتار $850\,\mathrm{km\,h^{-1}}$ ہے۔ جس لمحہ M سے الف کا فاصلہ $50\,\mathrm{km}$ اور ب کا فاصلہ $100\,\mathrm{km}$ ہو، ان کے بیچ فاصلہ کس شرح سے تبدیل ہو گا؟

سوال ۳.۴۰۵: ایک لڑکی $300\,\mathrm{m}$ بلند پتنگ اڑا رہی ہے۔ ہوا پتنگ کو افقی رخ $25\,\mathrm{m\,min^{-1}}$ کی رفتار سے حرکت دے رہی ہے۔ اگر لڑکی سے پتنگ کا فاصلہ $500\,\mathrm{m}$ ہو تب لڑکی کس رفتار سے پتنگ کو ڈوری دے رہی ہے؟

سوال ۳.۴۰۶: پرانے انجن کے بیلن کو خراد کی مشین سے کھلا کر کے اس میں نیا پسٹن ڈالا جاتا ہے۔ خراد کی مشین، بیلن کا رداس ہر تین منٹ میں $25\,\mu\mathrm{m}$ بڑھاتی ہے۔ جب رداس $9.8\,\mathrm{cm}$ ہو اس لمحہ بیلن کا حجم کس شرح سے بڑھتا ہے؟

سوال ۳.۴۰۷: ریت کو $10\,\mathrm{m^3\,min^{-1}}$ سے ڈھیر پر ڈالا جاتا ہے۔ ڈھیر کی اونچائی ہر وقت قاعدہ کے قطر کی $\frac{3}{8}$ ہوتی ہے۔ جب ڈھیر $4\,\mathrm{m}$ اونچی ہو اس لمحہ ڈھیر کی (ا) اونچائی (ب) رداس کس شرح سے تبدیل ہو رہے ہیں؟ جواب $\mathrm{cm\,s^{-1}}$ میں دیں۔

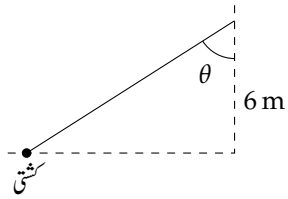

شکل ۳.۶۹: کشتی کو بندرگاہ میں کھینچا جاتا ہے (سوال ۳.۴۱۲)

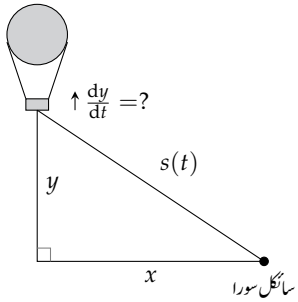

شکل ۳.۷۰: غبارے کے نیچے سے گاڑی گزرتی ہے (سوال ۳.۴۱۳)

سوال ۳.۴۰۸: مخروطی شکل کی ٹینکی جس کی اونچائی $6\,\mathrm{m}$ اور رداس $45\,\mathrm{m}$ ہیں سے پانی کو $50\,\mathrm{m^3\,min^{-1}}$ کی شرح سے نکالا جاتا ہے۔ مخروط کی نوک نیچے جانب ہے۔(ا) جب پانی $5\,\mathrm{m}$ گہرا ہو تب پانی کی گہرائی کس شرح سے تبدیل ہو گی؟ (ب) اس لمحے پر پانی کی سطح کا رداس کس شرح سے تبدیل ہو گا؟ جواب $\mathrm{cm\,s^{-1}}$ میں دیں۔

سوال ۳.۴۰۹: نصف کرہ، جس کا رداس $R = 13\,\mathrm{m}$ ہے، سے پانی کا انعکاس $6\,\mathrm{m^3\,min^{-1}}$ شرح سے کیا جاتا ہے (شکل ۳.۶۸)۔ پانی کا حجم $H = \frac{\pi}{3}y^2(3R - y)$ ہے جہاں y پانی کی گہرائی ہے۔

ا. جب پانی کی گہرائی $8\,\mathrm{m}$ ہو تب گہرائی کس شرح سے تبدیل ہو گی؟

ب. جب پانی کی گہرائی y ہو تب پانی کی سطح کا رداس کیا ہو گا؟

ج. جب پانی $8\,\mathrm{m}$ گہرا ہو تب رداس کس شرح سے تبدیل ہو گا؟

سوال ۳.۴۱۰: ہوا میں پانی کے باریک قطرے ہمیں دھند کی صورت میں نظر آتے ہیں۔ فرض کریں یہ قطرے کرہ نما ہیں اور ان کی سطح پر مزید پانی جمع ہوتا رہتا ہے جس کی مقدار سطحی رقبے کے راست متناسب ہے۔ دکھائیں کہ قطرے کا رداس مستقل شرح سے تبدیل ہوتا ہے۔

سوال ۳.۴۱۱: ایک غبارے میں $100\pi\,\mathrm{m^3\,min^{-1}}$ کی شرح سے ہیلیم[۴۹] گیس بھری جاتی ہے۔ جب غبارے کا رداس $5\,\mathrm{m}$ ہو تب اس کا رداس کس شرح سے تبدیل ہوتا ہے؟ اس لمحے پر غبارے کا حجم کس شرح سے تبدیل ہو گا؟

سوال ۳.۴۱۲: ایک چھوٹی کشتی کو پانی کی سطح سے $6\,\mathrm{m}$ اونچائی سے بندرگاہ کی طرف کھینچا جاتا ہے (شکل ۳.۶۹)۔ رسّی کو $2\,\mathrm{m\,s^{-1}}$ کی رفتار سے کھینچا جاتا ہے۔(ا) جب رسّی کی لمبائی $10\,\mathrm{m}$ ہو تب کشتی کتنی تیز حرکت کرتی ہے۔(ب) اس لمحے پر زاویہ θ کس شرح سے تبدیل ہو گا؟

سوال ۳.۴۱۳: ایک غبارہ سیدھا اوپر رخ $1\,\mathrm{m\,s^{-1}}$ سے حرکت کرتا ہے۔ جب یہ $65\,\mathrm{m}$ بلندی پر پہنچتا ہے، ٹھیک اسی لمحہ اس کے بالکل نیچے سڑک پر ایک گاڑی $17\,\mathrm{m\,s^{-1}}$ کی رفتار سے چلتے ہوئے گزرتی ہے (شکل ۳.۷۰)۔ تین سیکنڈ بعد غبارے اور گاڑی کے بیچ فاصلہ کس شرح سے بڑھتا ہے؟

سوال ۳.۴۱۴: مخروط چھلنی میں بیک وقت چائے ڈالی جاتی ہے جہاں سے چائے گزر کر پیالے میں $10\,\mathrm{cm^3\,min^{-1}}$ کی شرح سے بھری جاتی ہے (شکل ۳.۷۱)۔(ا) چھلنی میں چائے کی گہرائی $5\,\mathrm{cm}$ ہونے کے لمحے پر پیالے میں چائے کی گہرائی کس شرح سے بڑھتی ہے؟ (ب) اس لمحہ پر مخروط میں

---

[۴۹] helium

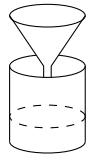

شکل ۳.۷۱: مخروط چھلنی (سوال ۳.۴۱۴)

چائے کی گہرائی کس شرح سے کم ہوتی ہے؟

سوال ۳.۴۱۵: اخراج قلب جرمنی کے اڈولف فک نے ۱۸۶۰ کی دہائی میں دل سے گزرتے ہوئے خون کی شرح ناپنے کا طریقہ ایجاد کیا جو آج بھی زیر استعمال ہے۔ اس وقت اس جملے کو پڑھتے ہوئے آپ کا دل تقریباً $7\,\mathrm{L\,min^{-1}}$ خون خارج کر رہا ہو گا جبکہ بالکل آرام سے بیٹھ کر $6\,\mathrm{L\,min^{-1}}$ اخراج متوقع ہے۔ بہت لمبی دوڑ لگانے والے کھلاڑی کا قلب $30\,\mathrm{L\,min^{-1}}$ تک خون خارج کر سکتا ہے۔

قلب کے اخراج کا حساب

$$y = \frac{Q}{D}$$

سے کیا جا سکتا ہے جہاں سانس سے خارج CO_2 کی ملی لٹر فی منٹ میں مقدار کو Q سے ظاہر کیا گیا ہے جبکہ پھیپھڑوں کو فراہم خون میں CO_2 کی کثافت $\mathrm{mL/L}$ اور پھیپھڑوں سے خارج خون میں CO_2 کی کثافت کے فرق کو D سے ظاہر کیا گیا ہے۔ یوں $Q = 223\,\mathrm{mL/min}$ اور $D = 97 - 56 = 41\,\mathrm{mL/L}$ کی صورت میں

$$y = \frac{223\,\mathrm{mL/min}}{41\,\mathrm{mL/L}} \approx 5.68\,\mathrm{L/min}$$

ہو گا جو آرام سے بیٹھے شخص کے قلب کے اخراج کے کافی قریب ہے۔

فرض کریں ہم جانتے ہیں کہ جب $Q = 233$ اور $D = 41$ ہوں تب D کی قیمت 2 اکائی فی منٹ سے گھٹ رہی ہے جبکہ Q میں کوئی تبدیلی نہیں پائی جاتی۔ قلب کے اخراج کو کیا ہو رہا ہے؟

سوال ۳.۴۱۶: لاگت، آمدنی اور منافع۔ ایک ادارہ x اشیاء کو $c(x)$ لاگت، $r(x)$ آمدنی، اور $p(x) = r(x) - c(x)$ منافع کے ساتھ تیار کر سکتا ہے (تمام اعداد و شمار کو 1000 سے ضرب کریں)۔ x اور $\frac{\mathrm{d}x}{\mathrm{d}t}$ کی درج ذیل قیمتوں کے لئے $\frac{\mathrm{d}c}{\mathrm{d}t}$ ، $\frac{\mathrm{d}r}{\mathrm{d}t}$ ، اور $\frac{\mathrm{d}p}{\mathrm{d}t}$ کا حساب کریں۔

ا.

$$r(x) = 9x, \quad c(x) = x^3 - 6x^2 + 15x; \quad \frac{\mathrm{d}x}{\mathrm{d}t} = 0.1, \quad x = 2$$

ب.

$$r(x) = 70x, \quad c(x) = x63 - 6x62 + \frac{45}{x}; \quad \frac{\mathrm{d}x}{\mathrm{d}t} = 0.05, \quad x = 1.5$$

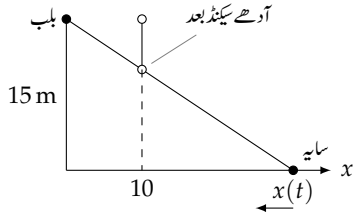

شکل ۳.۷۲: گیند کا سایہ (سوال ۳.۴۲۱)

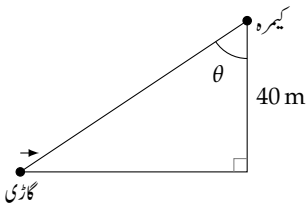

شکل ۳.۷۳: گاڑی کا ویڈیو (سوال ۳.۴۲۲)

سوال ۳.۴۱۷: قطع مکافی پر حرکت۔ ایک ذرہ قطع مکافی $y = x^2$ پر ربع اول میں یوں حرکت کرتا ہے کہ اس کا x محدد $10\,\mathrm{m\,s^{-1}}$ کی شرح سے بڑھتا جاتا ہے۔ مبدا سے ذرے تک خط، x محور کے ساتھ زاویہ θ بناتا ہے۔ جب $x = 3\,\mathrm{m}$ ہو تب θ کس شرح سے تبدیل ہو گا؟

سوال ۳.۴۱۸: دوسرا قطع مکافی۔ ایک ذرہ دائیں سے بائیں جانب قطع مکافی $y = \sqrt{-x}$ پر یوں حرکت کرتا ہے کہ اس کا x محدد $\frac{8}{\mathrm{m\,s^{-1}}}$ سے گھٹتا ہے۔ مبدا سے ذرے تک خط، x محور کے ساتھ زاویہ θ بناتا ہے۔ جب $x = -4\,\mathrm{m}$ ہو تب θ کس شرح سے تبدیل ہو گا؟

سوال ۳.۴۱۹: مستوی پر حرکت۔ کارتیسی محدد پر حرکت کرتے ہوئے ذرہ کے تعین گر x اور y محدد وقت t کے قابل تفرق تفاعل ہیں۔ اگر $\frac{\mathrm{d}x}{\mathrm{d}t} = -1\,\mathrm{m\,s^{-1}}$ اور $\frac{\mathrm{d}y}{\mathrm{d}t} = -5\,\mathrm{m\,s^{-1}}$ ہوں تب مبدا سے ذرے کا فاصلہ کس شرح سے تبدیل ہو گا؟

سوال ۳.۴۲۰: حرکت پذیر سایہ۔ $2\,\mathrm{m}$ قد کا ایک شخص گلی میں روشنی کے کھمبے کی طرف $1.5\,\mathrm{m\,s^{-1}}$ رفتار سے چل رہا ہے۔ کھمبے میں نسب بلب زمین سے $5\,\mathrm{m}$ بلندی پر ہے۔ جب شخص کھمبے سے $4\,\mathrm{m}$ فاصلے پر ہو، اس کا سایہ کس شرح سے تبدیل ہو گا؟

سوال ۳.۴۲۱: دوسرا حرکت کرتا سایہ۔ کھمبے پر بلب $15\,\mathrm{m}$ بلندی پر نسب ہے۔ کھمبے سے $10\,\mathrm{m}$ فاصلے پر اتنی ہی بلندی سے ایک ساکن گیند کو زمین پر گرنے دیا جاتا ہے (شکل ۳.۷۲)۔ آدھے سیکنڈ بعد زمین پر گیند کا سایہ کس رفتار سے حرکت کرے گا؟ ($g = 9.8\,\mathrm{m\,s^{-2}}$)

سوال ۳.۴۲۲: آپ $80\,\mathrm{km\,h^{-1}}$ رفتار سے چلتی ہوئی گاڑی سے $150\,\mathrm{m}$ کے فاصلے پر $40\,\mathrm{m}$ کی بلندی سے گاڑی کا ویڈیو[۵۰] بنا رہے ہیں۔ گاڑی سیدھی آپ کی طرف آ رہی ہے (شکل ۳.۷۳)۔ اس لمحے پر کیمرے کا زاویہ میلان کس شرح سے تبدیل ہو گا؟ دو سیکنڈ بعد یہ شرح کیا ہو گی؟

سوال ۳.۴۲۳: برف کی پگھلتی تہہ۔ ایک لوہے کا کرہ جس کا رداس $0.1\,\mathrm{m}$ ہے پر برف کی یکساں موٹائی کی تہہ جمائی جاتی ہے جو $10\,\mathrm{cm^3\,s^{-1}}$ کی شرح سے پگھلتی ہے۔ جس لمحے پر تہہ کی موٹائی $2\,\mathrm{cm}$ ہو اس لمحے پر تہہ کی موٹائی کس شرح سے تبدیل ہو گی؟

سوال ۳.۴۲۴: موٹروے پولیس۔ $1\,\mathrm{km}$ بلندی پر ایک جہاز پشاور سے اسلام آباد کی موٹروے کے ٹھیک اوپر $500\,\mathrm{km\,h^{-1}}$ کی رفتار سے پرواز کرتے ہوئے موٹروے پر سامنے سے آمد گاڑی کا فاصلہ $5\,\mathrm{km}$ ناپتا ہے جو اس لمحے پر $100\,\mathrm{km\,h^{-1}}$ کی شرح سے گھٹ رہا ہے۔ گاڑی کی رفتار تلاش کریں۔

سوال ۳.۴۲۵: عمارت کا سایہ۔ سال کے کسی ایک دن سورج $80\,\mathrm{m}$ بلند عمارت کے ٹھیک اوپر سے گزرتا ہے (شکل ۳.۷۴)۔ جب عمارت کا سایہ ہموار زمین پر $60\,\mathrm{m}$ ہو، سائے کے سر سے سورج تک کا خط زمین کے ساتھ زاویہ θ بناتا ہے جو اس لمحہ $0.27^\circ/\mathrm{min}$ کی شرح سے تبدیل ہوتا ہے۔ سائے کی لمبائی کس شرح سے گھٹتی ہے؟ جواب $\mathrm{cm/min}$ میں دیں اور ریڈین کا استعمال کرنا نہ بھولیں۔

---

[۵۰] video

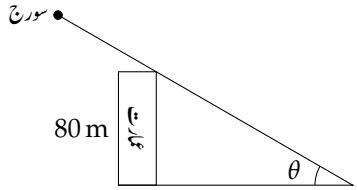

شکل ۳.۷۴: عمارت کا سایہ (سوال ۳.۴۲۵)

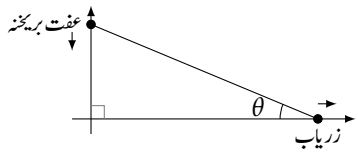

شکل ۳.۷۵: عفت اور زریاب کی چال قدمی (سوال ۳.۴۲۶)

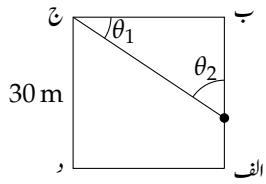

شکل ۳.۷۶: بچوں کا کھیل (سوال ۳.۴۲۷)

سوال ۳.۴۲۶: چال قدمی۔ ایک چوراہے پر دو سڑک 90° زاویے سے آپس میں ملتے ہیں۔ایک سڑک پر عفت بریخنہ چوراہے کی جانب $2\,\mathrm{m\,s^{-1}}$ کی رفتار سے بڑھتی ہے جبکہ دوسری سڑک پر اس کا چھوٹا بھائی زریاب خان $1.5\,\mathrm{m\,s^{-1}}$ کی رفتار سے چوراہے سے دور چلا جاتا ہے (شکل ۳.۷۵)۔جب عفت بریخنہ اور زریاب خان چوراہے سے بالترتیب $20\,\mathrm{m}$ اور $15\,\mathrm{m}$ کے فاصلے پر ہوں، زاویہ θ کی شرح تبدیلی کیا ہو گی؟

سوال ۳.۴۲۷: بچوں کا کھیل۔ایک کھیل میں کھلاڑی ابتدائی نقطہ الف سے دوڑ کر گھڑی مخالف رخ چوکور راہ پر $6\,\mathrm{m\,s^{-1}}$ کی رفتار سے چکر لگاتا ہے۔چوکور کے اطراف کی لمبائی $30\,\mathrm{m}$ ہے (شکل ۳.۷۶)۔

ا. جب کھلاڑی ابتدائی نقطہ الف سے $10\,\mathrm{m}$ فاصلے پر ہو، اس کا نقطہ ج سے فاصلہ کس شرح سے تبدیل ہوتا ہے؟

ب. اس لمحے پر زاویہ θ_1 اور θ_2 کس شرح سے تبدیل ہوتے ہیں؟

سوال ۳.۴۲۸: ایک گھڑی کے سیکنڈوں کی سوئی کی لمبائی $20\,\mathrm{cm}$ ہے۔جب سیکنڈ کی سوئی چار بجے پر ہو اس لمحہ بارہ بجے کے نشان سے اس کا فاصلہ کس شرح سے تبدیل ہو گا؟

سوال ۳.۴۲۹: بحری جہاز۔ نقطہ M سے دو بحری جہاز آپس میں 120° کا زاویہ بناتے ہوئے روانہ ہوتے ہیں۔جہاز الف کی رفتار $28\,\mathrm{km\,h^{-1}}$ جبکہ جہاز ب کی رفتار $20\,\mathrm{km\,h^{-1}}$ ہے۔ایک گھنٹہ بعد ان کے بیچ فاصلہ کس شرح سے تبدیل ہو گا؟

باب ۴

تفرق کا استعمال

اس باب میں ہم تفرق سے نتائج اخذ کرنا سیکھیں گے۔ ہم تفرق کی مدد سے تفاعل کی انتہائی قیمتیں حاصل کرتے ہوئے ان کی ترسیم کی اشکال کی پیش گوئی کرتے ہیں اور ان پر تجزیہ کرتے ہیں، پیچیدہ کلیات کی سادہ صورت اخذ کرتے ہیں، تفاعل کی پیمائشی خلل کو حساسیت پر غور کرتے ہیں اور تفاعل کی صفر کو اعدادی طریقوں سے حاصل کرتے ہیں۔ مسئلہ اوسط قیمت ان تمام کو ممکن بناتا ہے جس کا ایک منطقی نتیجہ تکملی احصاء (باب ۵) کی راہ ہموار کرتا ہے۔

۴.۱ تفاعل کی انتہائی قیمتیں

اس حصہ میں استمراری تفاعل کی انتہائی قیمتوں کا مقام اور اور ان کی پہچان سکھائی جائے گی۔

مسئلہ کم سے کم اور زیادہ سے زیادہ

بند دائرہ کار کے ہر نقطہ پر استمراری تفاعل کا اس دائرہ کار پر مطلق بلند تر قیمت اور مطلق کم سے کم قیمت ہو گا جن پر ترسیم کھینچتے وقت نظر رکھا جاتا ہے۔ مسائل کے حل میں ان انتہائی قیمتوں کے کردار پر اس باب میں جبکہ تکملی احصاء کی نظریہ مرتب کرنے میں ان کے کردار پر اگلے دو ابواب میں غور کیا جائے گا۔

مسئلہ ۴.۱: استمراری تفاعل کا مسئلہ کم سے کم اور زیادہ سے زیادہ

بند دائرہ کار I کے ہر نقطہ پر استمراری تفاعل f کا I پر مطلق زیادہ سے زیادہ قیمت M اور مطلق کم سے کم قیمت m پایا جائے گا۔ یعنی I میں ایسا x_1 اور x_2 پایا جائے گا کہ $f(x_1) = m$ اور $f(x_2) = M$ ہوں اور I میں تمام x کے لئے $m \leq f(x) \leq M$ ہو (شکل ۴.۱)۔

درج بالا مسئلے کے ثبوت کے لئے حقیقی اعدادی نظام کا تفصیلی علم ضروری ہے لہٰذا اس کا ثبوت پیش نہیں کیا جائے گا۔

مثال ۴.۱: وقفہ $[-\pi/2, \pi/2]$ پر تفاعل $f(x) = \cos x$ ایک بار زیادہ سے زیادہ قیمت 1 اور دو بار کم سے کم قیمت 0 اختیار کرتا ہے۔ اسی وقفے پر تفاعل $g(x) = \sin x$ ایک بار زیادہ سے زیادہ قیمت 1 اور ایک بار کم سے کم قیمت -1 اختیار کرتا ہے (شکل ۴.۲)۔ □

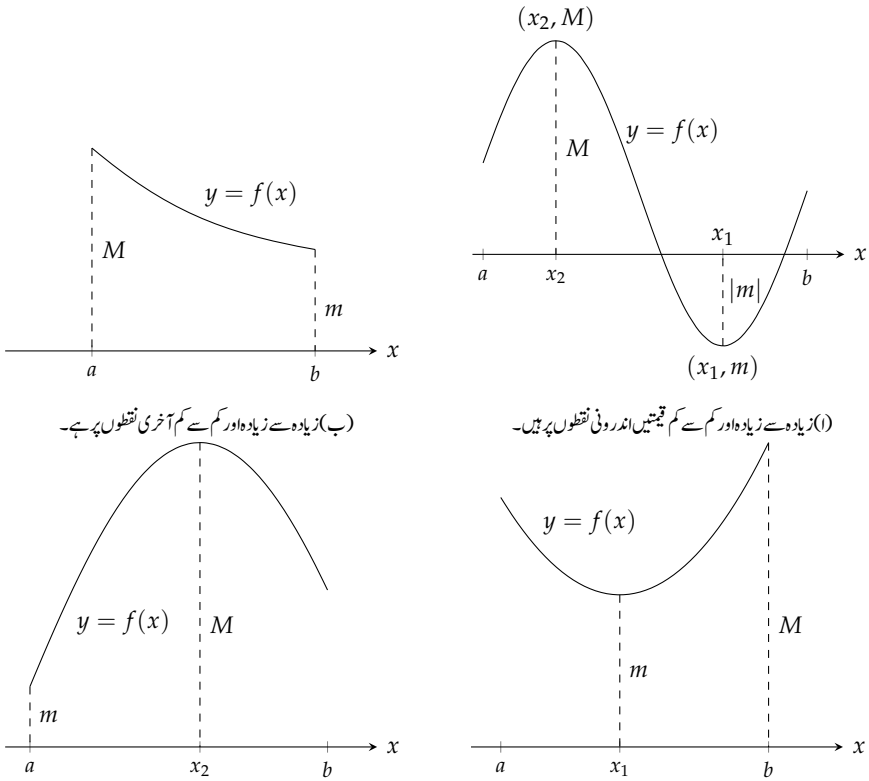

(ا) زیادہ سے زیادہ اور کم سے کم قیمتیں اندرونی نقطوں پر ہیں۔

(ب) زیادہ سے زیادہ اور کم سے کم آخری نقطوں پر ہے۔

(ج) کم سے کم اندرونی نقطہ جبکہ زیادہ سے زیادہ آخری نقطہ ہے۔

(د) زیادہ سے زیادہ اندرونی نقطہ جبکہ کم سے کم آخری نقطہ پر ہے۔

شکل ۱.۴: زیادہ سے زیادہ اور کم سے کم نقطوں کے چند ممکنہ مقامات۔

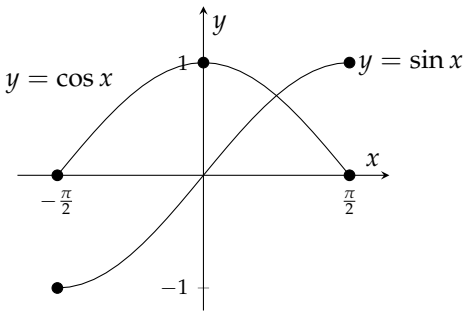

شکل ۲.۴: ترسیم برائے مثال ۱.۴

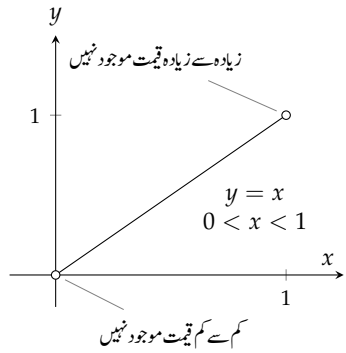

شکل ۳.۴: کھلا وقفہ پر زیادہ سے زیادہ اور کم سے کم قیمتوں کا ہونا یقینی نہیں ہے۔

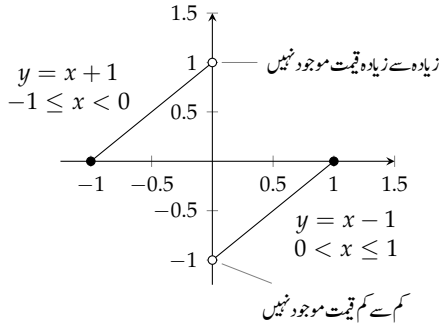

شکل ۴.۴: واحد ایک نقطہ عدم استمرار کی وجہ سے زیادہ سے زیادہ اور کم سے کم قیمتیں غیر یقینی ہو سکتے ہیں۔

جیسا شکل ۳.۴ اور شکل ۴.۴ واضح کرتے ہیں مسئلہ ۱.۴ میں دائرہ کار کا بند ہونا اور تفاعل کا استمراری ہونا لازمی ہے۔ ان کے بغیر مسئلے سے اخذ نتائج غلط ہو سکتے ہیں۔

شکل ۴.۴ میں تفاعل

$$f(x) = \begin{cases} x+1, & -1 \leq x < 0 \\ 0, & x = 0 \\ x-1, & 0 < x \leq 1 \end{cases}$$

دکھایا گیا ہے جو وقفہ $[-1, 1]$ پر استمراری ہے ماسوائے واحد نقطہ $x = 0$ پر، جس کی وجہ سے تفاعل کا نا کوئی زیادہ سے زیادہ قیمت اور نا ہی اس کی کوئی کم سے کم قیمت پائی جاتی ہے۔

مقامی بالمقابل مطلق (عالمگیر) انتہا

شکل ۵.۴ میں تفاعل کے پانچ انتہا نقطے دکھائے گئے ہیں۔ اس تفاعل کا کم سے کم نقطہ a پر ہے اگرچہ e پر بھی x کی مقامی قیمتوں کے لحاظ سے f کی قیمت کم ہے۔ نقطہ c پر تفاعل کی مقامی زیادہ سے زیادہ قیمت پائی جاتی ہے جبکہ d پر اس کی مطلق زیادہ سے زیادہ قیمت پائی جاتی ہے۔

تعریف: **مطلق انتہائی قیمتیں**

فرض کریں تفاعل f کا دائرہ کار D ہے۔ نقطہ c پر تفاعل f کی مطلق زیادہ سے زیادہ قیمت تب پائی جائے گی جب D میں تمام x کے لئے درج ذیل ہو

$$f(x) \leq f(c)$$

اور D میں c پر تب f کی مطلق کم سے کم قیمت پائی جائے گی جب D میں تمام x کے لئے درج ذیل ہو۔

$$f(x) \geq f(c)$$

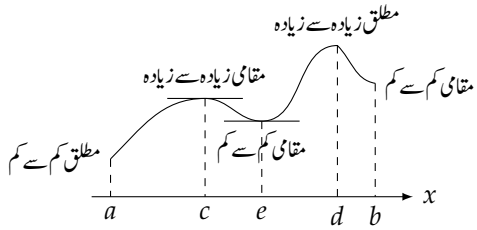

شکل ۵.۴: مقامی اور مطلق انتہا۔

۴۴۳۲ □

۴۴۳۳ مطلق زیادہ سے زیادہ اور مطلق کم سے کم کو مطلق **انتہا**[1] کہتے ہیں۔ انہیں **عالمگیر**[2] انتہا بھی کہتے ہیں۔

۴۴۳۴ ایک سے تفاعل، جنہیں ایک سا تعریفی قاعدہ بیان کرتا ہو، کی انتہا قیمتیں مختلف ہو سکتی ہیں۔ انتہا قیمتیں دائرہ کار پر بھی منحصر ہوں گی۔

۴۴۳۵ مثال ۲.۴:

	تعریفی تفاعل	دائرہ کار D	مطلق انتہا
(ا)	$y = x^2$	$(-\infty, \infty)$	مطلق زیادہ سے زیادہ نہیں ہے جبکہ $x = 0$ پر مطلق کم سے کم قیمت 0 ہے
(ب)	$y = x^2$	$[0, 2]$	مطلق زیادہ سے زیادہ قیمت $x = 2$ پر 4 ہے جبکہ $x = 0$ پر مطلق کم سے کم قیمت 0 ہے
(ج)	$y = x^2$	$(0, 2]$	مطلق زیادہ سے زیادہ قیمت $x = 2$ پر 4 ہے جبکہ مطلق کم سے کم قیمت موجود نہیں ہے
(د)	$y = x^2$	$(0, 2)$	کوئی مطلق قیمت نہیں پایا جاتا ہے

۴۴۳۶ شکل ۶.۴ دیکھیں۔ □

۴۴۳۷ تعریف: **مقامی انتہا قیمت**

۴۴۳۸ تفاعل f کا کھلے دائرہ کار D میں اندرونی نقطہ c پر اس صورت مقامی زیادہ سے زیادہ قیمت پائی جائے گی جب D میں کسی بھی کھلا وقفہ جس میں c پایا جاتا
۴۴۳۹ ہو میں تمام x کے لئے

$$f(x) \leq f(c)$$

۴۴۴۰ ہو جبکہ (انہیں شرائط کے ساتھ) درج ذیل صورت میں اندرونی نقطہ c پر مقامی زیادہ سے زیادہ قیمت پائی جائے گی۔

$$f(x) \geq f(c)$$

۴۴۴۱ □

[1] extrema
[2] global

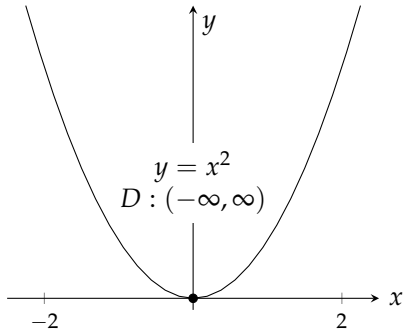

(ا) مطلق کم سے کم قیمت پائی جاتی ہے

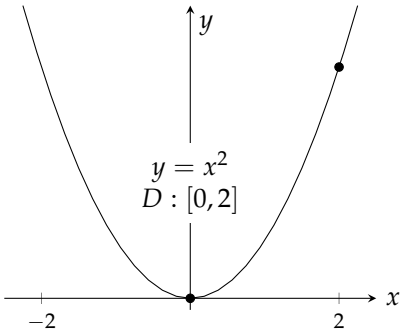

(ب) مطلق کم سے کم اور زیادہ سے زیادہ قیمت پائی جاتی ہیں

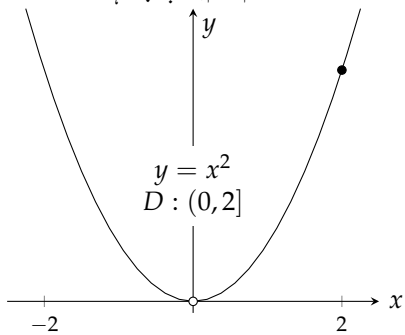

(ج) مطلق زیادہ سے زیادہ قیمت پائی جاتی ہے

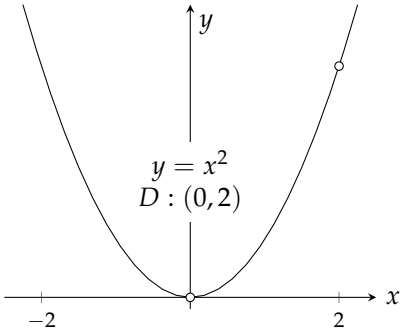

(د) نا مطلق زیادہ سے زیادہ اور نا مطلق کم سے کم قیمت پائی جاتی ہے

شکل ۶.۴: مطلق قیمت اور دائرہ کار (مثال ۲.۴)۔

ہم مقامی انتہا کی تعریف کو وقفہ کے آخری سروں تک وسعت دے سکتے ہیں۔ یوں آخری سر c پر مقامی انتہا سے مراد نصف کھلا وقفہ میں موزوں عدم مساوات کا مطمئن ہونا ہے۔ شکل ۴.۵ میں تفاعل f کا c اور d پر مقامی زیادہ سے زیادہ قیمت جبکہ a ، e اور b پر اس کی مقامی کم سے کم قیمت پائی جاتی ہیں۔

مطلق زیادہ سے زیادہ قیمت بھی مقامی زیادہ سے زیادہ قیمت ہو گی۔ مطلق زیادہ سے زیادہ قیمت اپنی پڑوس میں بھی زیادہ سے زیادہ قیمت ہو گی۔ یوں تمام مقامی زیادہ سے زیادہ قیمتوں کی جدول میں مطلق زیادہ سے زیادہ قیمت (اگر موجود ہو) بھی پائی جائے گی۔ اسی طرح تمام مقامی کم سے کم قیمتوں کی جدول میں مطلق کم سے کم قیمت (اگر موجود ہو) بھی پائی جائے گی۔

انتہا کا حصول

جیسا درج ذیل مسئلہ سمجھاتا ہے تفاعل کے انتہا کی حصول کے لئے صرف چند قیمتوں کی تحقیق ضروری ہو گی۔

مسئلہ ۴.۲: **یک رتبی مسئلہ برائے مقامی انتہا** فرض کریں تفاعل f کے دائرہ کار کی اندرونی نقطہ c پر f کی کم سے کم یا زیادہ سے زیادہ قیمت پائی جاتی ہو اور c پر f' معین ہو تب درج ذیل ہو گا۔

$$f'(c) = 0$$

ثبوت: یہ دکھانے کی خاطر کہ مقامی انتہا پر $f'(c)$ کی قیمت صفر ہو گی ہم دکھاتے ہیں کہ $f'(c)$ مثبت نہیں ہو سکتا ہے اور کہ $f'(c)$ منفی نہیں ہو سکتا ہے۔ صفر وہ واحد عدد ہے جو نا مثبت اور نا منفی ہے لہٰذا $f'(c)$ صفر ہو گا۔

فرض کریں کہ c پر f کی مقامی زیادہ سے زیادہ قیمت پائی جاتی ہے (شکل ۴.۷)۔ یوں c کے قریبی پڑوس میں تمام x پر $f(x) - f(c) \leq 0$ ہو گا۔ چونکہ c اندرونی نقطہ ہے لہٰذا $f'(c)$ کی تعریف درج ذیل دو طرفہ حد ہو گی۔

$$\lim_{x \to c} \frac{f(x) - f(c)}{x - c}$$

اس کا مطلب ہے کہ $x = c$ پر دائیں ہاتھ حد اور بائیں ہاتھ حد دونوں موجود اور $f'(c)$ کے برابر ہیں۔ ان حد پر علیحدہ علیحدہ غور کرتے ہیں۔ چونکہ c کے دائیں جانب $x - c > 0$ اور $f(x) \leq f(c)$ ہیں لہٰذا

$$f'(c) = \lim_{x \to c^+} \frac{f(x) - f(c)}{x - c} \leq 0 \tag{۱}$$

ہو گا۔ اسی طرح c کے بائیں جانب $x - c < 0$ اور $f(x) \leq f(c)$ ہیں لہٰذا

$$f'(c) = \lim_{x \to c^-} \frac{f(x) - f(c)}{x - c} \geq 0 \tag{۲}$$

ہو گا۔ مساوات ۱ اور مساوات ۲ کو ملا کر $f'(c) = 0$ ملتا ہے۔

یوں مقامی زیادہ سے زیادہ قیمت کے لئے مسئلہ ثابت ہوا۔ مقامی کم سے کم قیمت کے لئے مسئلہ ثابت کرنے کے لئے $f(x) \geq f(c)$ استعمال کرنا ہو گا جس سے مساوات ۱ اور مساوات ۲ کی عدم مساوات الٹ ہو جاتی ہیں۔

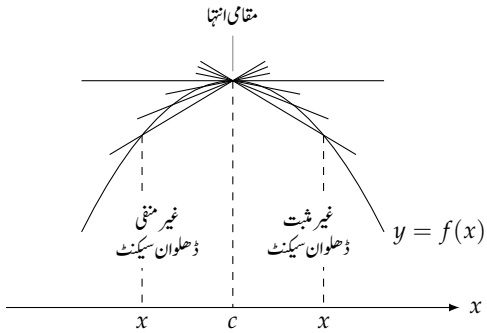

شکل ۷.۴: اندرونی نقطہ پر مقامی انتہا پر ڈھلوان صفر ہو گا (مسئلہ ۲.۴)۔

□

مسئلہ ۲.۴ کہتا ہے کہ اندرونی انتہا پر اگر تفرق معین ہو تب $f'(c) = 0$ ہو گا۔ یوں تفاعل کی انتہا (مقامی یا عالمگیر) صرف درج ذیل نقطوں پر ہو سکتی ہیں۔

۱. اندرونی نقطہ جہاں $f' = 0$ ہو۔

۲. اندرونی نقطہ جہاں f' غیر معین ہو۔

۳. f کے دائرہ کار کے آخری سروں پر۔

درج ذیل تعریف ان نتائج کو مختصراً پیش کرنے میں مدد کرتی ہے۔

تعریف: تفاعل f کے دائرہ کار میں ایسا اندرونی نقطہ جہاں f' غیر معین یا صفر ہو کو **نقطہ فاصل**[۳] کہتے ہیں۔

□

خلاصہ

تفاعل کی انتہا قیمتیں صرف تفاعل کی دائرہ کار میں نقطہ فاصل اور آخری نقطوں پر پائی جا سکتی ہیں۔

عموماً بند دائرہ کار پر تفاعل کی انتہا مطلوب ہو گی۔ مسئلہ ۱.۴ ہمیں یقین دلاتا ہے کہ ایسی قیمتیں موجود ہوں گی؛ مسئلہ ۲.۴ کہتا ہے کہ یہ صرف آخری نقطوں پر اور نقطہ فاصل پر پائی جائیں گی۔ اس قسم کے نقطے عموماً چند ہوں گے جن کی فہرست تیار کر کے دیکھا جا سکتا ہے کہ آیا نقطہ پر زیادہ سے زیادہ یا کم سے کم قیمت پائی جاتی ہے۔

مثال ۳.۴: دائرہ کار $[-2, 1]$ پر تفاعل $f(x) = x^2$ کی مطلق زیادہ سے زیادہ اور مطلق کم سے کم قیمتیں تلاش کریں۔

حل: تفاعل پورے دائرہ کار پر قابل تفرق ہے لہٰذا واحد نقطہ فاصل $f'(x) = 2x = 0$ یعنی $x = 0$ پر ہو گا۔ ہمیں تفاعل کی قیمتیں نقطہ

---

[۳] criticalpoint

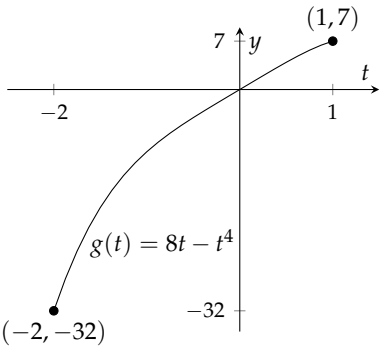

شکل ۴.۸: ترسیم برائے مثال ۴.۴

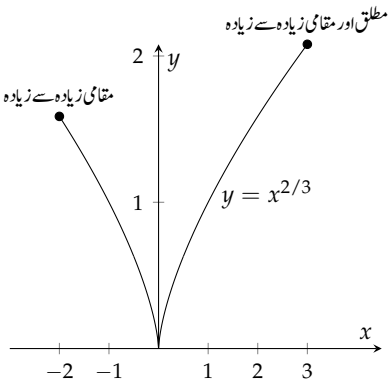

شکل ۴.۹: ترسیم برائے مثال ۴.۵

۴۴۷۸ فاصل $x = 0$ اور آخری نقطوں $x = -2$ اور $x = 1$ پر دیکھنی ہوں گی۔

نقطہ فاصل پر قیمت	$f(0) = 0$
آخری نقطہ پر قیمت	$f(-2) = 4$
آخری نقطہ پر قیمت	$f(1) = 1$

۴۴۷۹ تفاعل کی مطلق زیادہ سے زیادہ قیمت 4 ہے جو نقطہ $x = -2$ پر پائی جاتی ہے جبکہ اس کی مطلق کم سے کم قیمت 0 ہے جو نقطہ $x = 0$ پر پائی جاتی
۴۴۸۰ ہے۔ □

۴۴۸۱ مثال ۴.۴: دائرہ کار $[-2, 1]$ پر تفاعل $g(t) = 8t - t^4$ کی مطلق زیادہ سے زیادہ اور مطلق کم سے کم قیمت تلاش کریں۔
۴۴۸۲ حل: تفرق پورے دائرہ کار پر قابل تفرق ہے لہٰذا نقطہ فاصل صرف وہاں ہوگا جہاں $g'(t) = 0$ ہو۔ اس مساوات کو حل کرتے ہوئے

$$\begin{aligned} g'(t) &= 8 - 4t^3 = 0 \\ t^3 &= 2 \\ t &= 2^{1/3} \end{aligned}$$

۴۴۸۳ ملتا ہے جو دائرہ کار کے اندر نہیں ہے۔ یوں تفاعل کے مقامی انتہا قیمتیں آخری نقطوں پر پائی جائیں گی: (شکل ۴.۸)

مطلق کم سے کم قیمت	$g(-2) = -32$
مطلق زیادہ سے زیادہ قیمت	$g(1) = 7$

۴۴۸۴ □

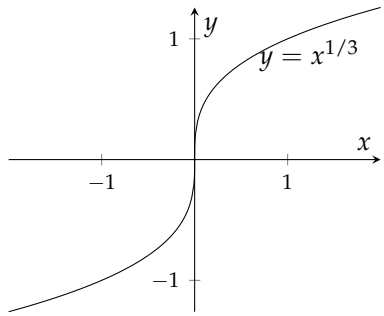

شکل ۱۰.۴: نقطہ فاصل $x = 0$ پر انتہائی قیمت نہیں پائی جاتی ہے۔

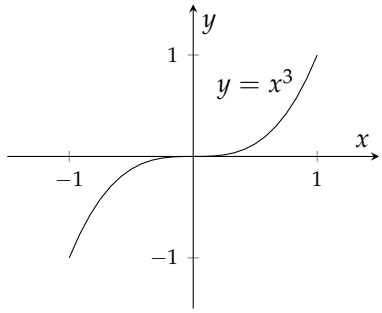

شکل ۱۱.۴: $x = 0$ پر $y = x^3$ کا کوئی انتہا نہیں پایا جاتا ہے اگرچہ اس نقطے پر $y' = 3x^2 = 0$ ہے۔

مثال ۵.۴: تفاعل $h(x) = x^{2/3}$ کی $[-2, -3]$ پر مطلق انتہا تلاش کریں۔

حل: یک رتبی تفرق

$$h'(x) = \frac{2}{3}x^{-1/3} = \frac{2}{3x^{1/3}}$$

کا صفر نہیں پایا جاتا ہے البتہ $x = 0$ پر یہ غیر معین ہے۔ اس نقطہ پر اور آخری نقطوں $x = -2$ اور $x = 3$ پر تفاعل کی قیمتیں درج ذیل ہیں۔

$$\begin{aligned} h(0) &= 0 \\ h(-2) &= (-2)^{2/3} = 4^{1/3} \\ h(3) &= (3)^{2/3} = 9^{1/3} \end{aligned}$$

مطلق زیادہ سے زیادہ قیمت $9^{1/3}$ ہے جو نقطہ $x = 3$ پر پائی جاتی ہے جبکہ مطلق کم سے کم قیمت 0 ہے جو نقطہ $x = 0$ پر پائی جاتی ہے (شکل ۹.۴)۔ □

اگرچہ تفاعل کی انتہا صرف نقطہ فاصل اور آخری نقطوں پر پائی جا سکتی ہیں، ضروری نہیں ہے کہ ہر نقطہ فاصل یا ہر آخری نقطہ پر انتہا قیمت پائی جاتی ہو۔ شکل ۱۰.۴ اور شکل ۱۱.۴ اندرونی نقطوں کے لئے اس حقیقت کی وضاحت کرتی ہے اور سوال ۳۴.۴ میں آپ سے ایسا تفاعل پیش کرنے کو کہا گیا ہے جو اپنے دائرہ کار کے آخری نقطوں پر انتہائی قیمت اختیار نہیں رکھتا ہے۔

سوالات

ترسیم سے انتہائی نقطوں کا حصول

کیا سوال ۱.۴ تا سوال ۶.۴ میں $[a, b]$ کے بیچ تفاعل کے مطلق انتہائی قیمتیں پائی جاتی ہیں؟ سمجھائیں کہ آپ کے جواب اور مسئلہ ۱.۴ میں کس طرح تضاد نہیں پایا جاتا ہے۔

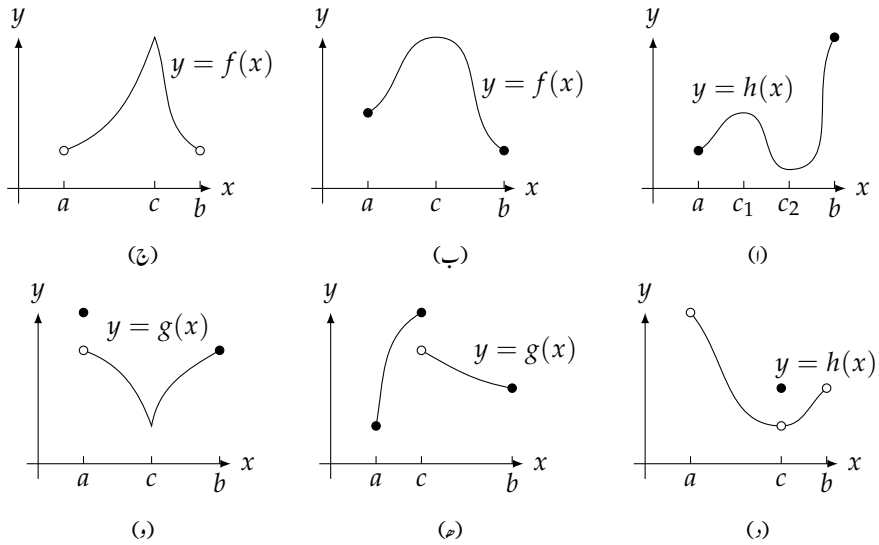

شکل ۱۲.۴: اشکال برائے سوال ۱.۴ تا سوال ۶.۴

۴۴۹۷ سوال ۱.۴: شکل ۱۲.۴-ا

۴۴۹۸ سوال ۲.۴: شکل ۱۲.۴-ب

۴۴۹۹ سوال ۳.۴: شکل ۱۲.۴-ج

۴۵۰۰ سوال ۴.۴: شکل ۱۲.۴-د

۴۵۰۱ سوال ۵.۴: شکل ۱۲.۴-ھ

۴۵۰۲ سوال ۶.۴: شکل ۱۲.۴-و

۴۵۰۳

۴۵۰۴ **بند وقفہ پر مطلق انتہا**

۴۵۰۵ سوال ۷.۴ تا سوال ۲۲.۴ میں دیے گئے وقفے پر تفاعل کی مطلق انتہائی قیمتیں تلاش کریں۔ تفاعل کو ترسیم کرتے ہوئے انتہائی نقطوں کی نشاندہی کریں۔

۴۵۰۶ سوال ۷.۴: $f(x) = \frac{2}{3}x - 5, \quad -2 \leq x \leq 3$

۴۵۰۷ سوال ۸.۴: $f(x) = -x - 4, \quad -4 \leq x \leq 1$

۴۵۰۸ سوال ۹.۴: $f(x) = x^2 - 1, \quad -1 \leq x \leq 2$

۴۵۰۹ سوال ۱۰.۴: $f(x) = 4 - x^2, \quad -3 \leq x \leq 1$

۴۵۱۰ سوال ۴.۱۱: $F(x) = -\frac{1}{x^2}, \quad 0.5 \le x \le 2$

۴۵۱۱ سوال ۴.۱۲: $F(x) = -\frac{1}{x}, \quad -2 \le x \le -1$

۴۵۱۲ سوال ۴.۱۳: $h(x) = \sqrt[3]{x}, \quad -1 \le x \le 8$

۴۵۱۳ سوال ۴.۱۴: $h(x) = -3x^{2/3}, \quad -1 \le x \le 1$

۴۵۱۴ سوال ۴.۱۵: $g(x) = \sqrt{4 - x^2}, \quad -2 \le x \le 1$

۴۵۱۵ سوال ۴.۱۶: $g(x) = -\sqrt{5 - x^2}, \quad -\sqrt{5} \le x \le 0$

۴۵۱۶ سوال ۴.۱۷: $f(\theta) = \sin\theta, \quad -\frac{\pi}{2} \le \theta \le \frac{5\pi}{6}$

۴۵۱۷ سوال ۴.۱۸: $f(x) = \tan\theta, \quad -\frac{\pi}{3} \le \theta \le \frac{\pi}{4}$

۴۵۱۸ سوال ۴.۱۹: $g(x) = \csc x, \quad -\frac{\pi}{3} \le x \le \frac{2\pi}{3}$

۴۵۱۹ سوال ۴.۲۰: $g(x) = \sec x, \quad -\frac{\pi}{3} \le x \le \frac{\pi}{6}$

۴۵۲۰ سوال ۴.۲۱: $f(t) = 2 - |t|, \quad -1 \le t \le 3$

۴۵۲۱ سوال ۴.۲۲: $f(t) = |t - 5|, \quad -4 \le t \le 7$

۴۵۲۲

۴۵۲۳ سوال ۴.۲۳ تا سوال ۴.۲۶ میں تفاعل کی مطلق کم سے کم اور مطلق زیادہ سے زیادہ قیمتیں تلاش کریں۔ یہ قیمتیں کن نقطوں پر پائی جاتی ہیں؟

۴۵۲۴ سوال ۴.۲۳: $f(x) = x^{4/3}, \quad -1 \le x \le 8$

۴۵۲۵ سوال ۴.۲۴: $f(x) = x^{5/3}, \quad -1 \le x \le 8$

۴۵۲۶ سوال ۴.۲۵: $g(\theta) = \theta^{3/5}, \quad -32 \le \theta \le 1$

۴۵۲۷ سوال ۴.۲۶: $h(\theta) = 3\theta^{2/3}, \quad -27 \le \theta \le 8$

۴۵۲۸ دائرہ کار میں مقامی انتہا

۴۵۲۹ سوال ۴.۲۷ تا سوال ۴.۲۷ میں دی گئے دائرہ کار پر مقامی زیادہ سے زیادہ یا کم سے کم قیمت تلاش کریں۔ یہ قیمتیں کن نقطوں پر پائی جاتی ہیں؟ ان میں سے کون سی
۴۵۳۰ مطلق انتہائی قیمتیں ہیں؟

۴۵۳۱ سوال ۴.۲۷:

۴۵۳۲ ا. $f(x) = x^2 - 4, \quad -2 \le x \le 2$

۴۵۳۳ ب. $g(x) = x^2 - 4, \quad -2 \le x < 2$

۴۵۳۴ ج. $h(x) = x^2 - 4, \quad -2 < x < 2$

۴۵۳۵ د. $k(x) = x^2 - 4, \quad -2 \le x < \infty$

۴۵۳۶ ھ. $l(x) = x^2 - 4, \quad 0 < x < \infty$

۴۵۳۷ سوال ۴.۲۸:

۴۵۳۸ ا. $f(x) = 2 - 2x^2, \quad -1 \le x \le 1$

۴۵۳۹ ب. $g(x) = 2 - 2x^2, \quad -1 < x \le 1$

۴۵۴۰ ج. $h(x) = 2 - 2x^2, \quad -1 < x < 1$

۴۵۴۱ د. $k(x) = 2 - 2x^2, \quad -\infty < x \le 1$

۴۵۴۲ ھ. $l(x) = 2 - 2x^2, \quad -\infty < x < 0$

۴۵۴۳ ## نظریہ اور مثالیں

۴۵۴۴ سوال ۴.۲۹: اگرچہ $x = 0$ پر $f(x) = |x|$ ناقابل تفرق ہے نقطہ $x = 0$ پر f کی مطلق کم سے کم قیمت پائی جاتی ہے۔ کیا یہ مسئلہ ۴.۲
۴۵۴۵ کے متضاد ہے؟ اپنے جواب کی وجہ پیش کریں۔

۴۵۴۶ سوال ۴.۳۰: اگر تفاعل کے دائرہ کار کا آخری نقطہ c ہو تب مسئلہ ۴.۲ کیوں ناقابل استعمال ہو گا؟

۴۵۴۷ سوال ۴.۳۱: اگر جفت تفاعل $f(x)$ کی مقامی زیادہ سے زیادہ قیمت $x = c$ پر پائی جاتی ہو تب $x = -c$ پر اس کی قیمت کے بارے میں کیا کہنا
۴۵۴۸ ممکن ہو گا؟ اپنے جواب کی وجہ پیش کریں۔

۴۵۴۹ سوال ۴.۳۲: اگر طاق تفاعل $g(x)$ کی مقامی کم سے کم قیمت $x = c$ پر پائی جاتی ہو تب کیا $x = -c$ پر اس کی قیمت کے بارے میں کچھ کہنا
۴۵۵۰ ممکن ہو گا؟ اپنے جواب کی وجہ پیش کریں۔

۴۵۵۱ سوال ۴.۳۳: ہم جانتے ہیں کہ نقطہ فاصل اور آخری نقطوں پر تفاعل $f(x)$ کی قیمتوں کی جانچ پڑتال سے تفاعل کی انتہائی قیمتیں حاصل کی جا سکتی ہیں۔
۴۵۵۲ کوئی بھی نقطہ فاصل یا آخری نقطہ نہ ہونا کی صورت میں کیا ہو گا؟ کیا ایسے تفاعل حقیقت میں پائے جاتے ہیں۔ اپنے جواب کی وجہ پیش کریں۔

۴۵۵۳ سوال ۴.۳۴: وقفہ $[0, 1]$ پر ایسا معین تفاعل پیش کریں جس کا $x = 0$ پر نا کوئی مقامی زیادہ سے زیادہ قیمت اور نا ہی مقامی کم سے کم قیمت پائی جاتی
۴۵۵۴ ہو۔

۴۵۵۵ ## کمپیوٹر کا استعمال

۴۵۵۶ سوال ۴.۳۵ تا سوال ۴.۴۰ میں درج ذیل اقدام سے دیے گئے بند وقفہ میں تفاعل کی انتہائی قیمتیں تلاش کریں۔

۴۵۵۷ ا. وقفہ پر تفاعل تقسیم کرتے ہوئے اس کا رویہ دیکھیں۔

۴۵۵۸ ب. وہ اندرونی نقطے تلاش کریں جہاں $f' = 0$ ہو۔ بعض اوقات f' ترسیم کرنا مددگار ثابت ہو گا۔

۴۵۵۹ ج. وہ اندرونی نقطے تلاش کریں جہاں f' غیر موجود ہے۔

۴۵۶۰ د. جزو (ب) اور (ج) میں حاصل تمام نقطوں کے علاوہ دائرہ کار کے آخری نقطوں پر تفاعل کی قیمتیں حاصل کریں۔

۴۵۶۱ ھ. وقفہ پر تفاعل کی مطلق انتہائی قیمتیں اور جن نقطوں پر یہ قیمتیں پائی جاتی ہوں تلاش کریں۔

۴۵۶۲ سوال ۴.۳۵: $f(x) = x^4 - 8x62 + 4x + 2, \quad [-\frac{20}{25}, \frac{64}{25}]$

۴۵۶۳ سوال ۴.۳۶: $f(x) = -x^4 + 4x^3 - 4x + 1, \quad [-\frac{3}{4}, 3]$

۴۵۶۴ سوال ۴.۳۷: $f(x) = x^{2/3}(3 - x), \quad [-2, 2]$

۴۵۶۵ سوال ۴.۳۸: $f(x) = 2 + 2x - 3x^{2/3}, \quad [-1, \frac{10}{3}]$

سوال ۴.۳۹: $f(x) = \sqrt{x} + \cos x, \quad [0, 2\pi]$

سوال ۴.۴۰: $f(x) = x^{3/4} - \sin x + \frac{1}{2}, \quad [0, 2\pi]$

۲.۴ مسئلہ اوسط قیمت

ہم جانتے ہیں کہ سطح زمین کے قریب ساکن حال (لمحہ $t = 0$) سے گرتا ہوا جسم ابتدائی t سیکنڈوں میں $s = 4.9t^2\,\mathrm{m}$ کا فاصل طے کرے گا۔ اس معلومات کو استعمال کرتے ہوئے ہم کہہ سکتے ہیں کہ لمحہ t پر اس جسم کی سمتی رفتار $v = \frac{\mathrm{d}s}{\mathrm{d}t} = 9.8\,\mathrm{m\,s^{-1}}$ اور اسراع $a = \frac{\mathrm{d}^2 s}{\mathrm{d}t^2} = 9.8\,\mathrm{m\,s^{-2}}$ ہو گی۔ اب فرض کریں کہ ہمیں جسم کی اسراع معلوم ہے۔ کیا ہم الٹ چلتے ہوئے اس کی سمتی رفتار اور ہٹاو تلاش کر سکتے ہیں؟

ہم حقیقت میں جاننا چاہتے ہیں کہ دیا گیا تفرق کس تفاعل کا ہو گا۔ زیادہ عمومی سوال یہ ہو گا کہ کس قسم کے تفاعل کا تفرق مخصوص قسم کا ہو گا۔ کس تفاعل کا تفرق مثبت ہو گا، یا منفی ہو گا، یا ہر نقطے پر صفر ہو گا؟ ان سوالات کے جوابات کو مسئلہ اوسط قیمت سے اخذ ضمنی نتیجہ کی مدد سے حاصل کیا جا سکتا ہے۔

مسئلہ رول

جن دو نقطوں پر تفاعل $f(x)$ محور x کو قطع کرتا ہے اگر ان کے بیچ تفاعل قابل تفرق ہو تب $f(x)$ کی ترسیم کی جیومیٹری کو دیکھ کر ایسا معلوم ہوتا ہے کہ ان نقطوں کے بیچ کم سے کم ایک ایسا نقطہ ضرور پایا جائے گا جس پر تفاعل کا مماس افقی ہو۔ مثل رول $(1652 - 1719)$ کا 300 سال پرانا **مسئلہ رول** ہمیں یقین دہانی کراتا ہے کہ حقیقتاً ایسا ہی ہو گا۔

مسئلہ ۴.۳: **مسئلہ رول**[۴]

فرض کریں بند وقفہ $[a, b]$ کے ہر نقطہ پر تفاعل $y = f(x)$ استراری ہے اور وقفہ کی اندرون (a, b) کے ہر نقطہ پر تفاعل قابل تفرق ہے۔ اگر

$$f(a) = f(b) = 0$$

تب (a, b) میں کم سے کم ایسا ایک نقطہ c ہو گا جس پر درج ذیل ہو گا (شکل ۴.۱۳)۔

$$f'(c) = 0$$

ثبوت: چونکہ f استراری ہے لہٰذا $[a, b]$ پر f کے مطلق زیادہ سے زیادہ اور مطلق کم سے کم قیمتیں ہوں گی۔ یہ صرف درج ذیل نقطوں پر پائی جائیں گی۔

۱. ان اندرونی نقطوں پر جہاں f' ہو۔

۲. ان اندرونی نقطوں پر جہاں f' غیر معین ہو۔

۳. تفاعل کے دائرہ کار کی آخری نقطوں پر جو موجودہ صورت میں a اور b ہیں۔

---

[۴] Rolle'stheorem

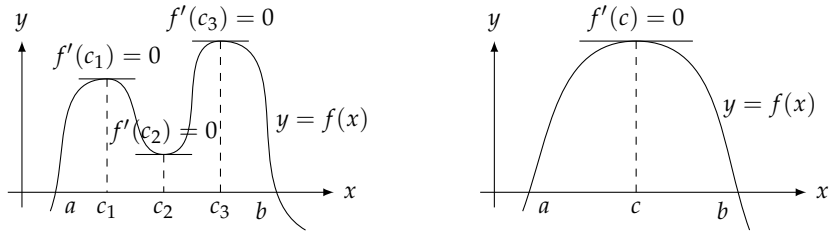

شکل ۴.۱۳: مسئلہ رول کہتا ہے کہ جن نقطوں پر تفاعل x محور کو قطع کرتا ہے، ان کے بیچ ایک یا ایک سے زیادہ نقطوں پر تفاعل کا تفرق صفر کے برابر ہو گا۔

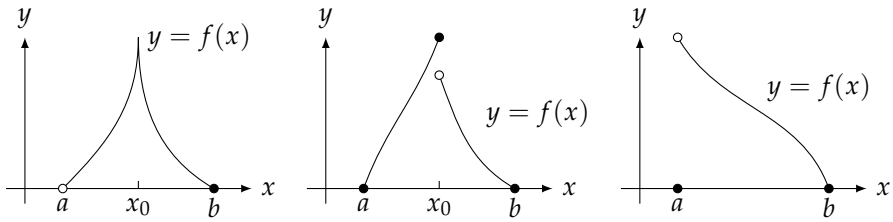

(ج) $[a, b]$ پر استراری لیکن کسی اندرونی نقطہ پر نا قابل تفرق

(ب) اندرونی نقطہ پر غیر استراری

(ا) ایک آخری نقطہ پر غیر استراری

شکل ۴.۱۴: کوئی افقی مماس نہیں پایا جاتا ہے۔

قیاس کے تحت ہر اندرونی نقطے پر f کا تفرق پایا جاتا ہے. یوں جزو (2) خارج ہوتا ہے۔

اگر وقفہ کے اندرونی نقطہ c پر تفاعل کی زیادہ سے زیادہ یا کم سے کم قیمت پائی جاتی ہو تب مسئلہ ۴.۲ کے تحت $f'(c) = 0$ ہو گا جس سے مسئلہ رول کا نقطہ حاصل ہوتا ہے۔

اگر زیادہ سے زیادہ قیمت اور کم سے کم قیمت دونوں a یا b پر پائے جاتے ہوں تب f مستقل ہو گا۔ یوں $f' = 0$ ہو گا لہٰذا وقفے کے کسی بھی نقطے کو c لیا جا سکتا ہے۔ یوں ثبوت مکمل ہوتا ہے۔

□

مسئلہ ۴.۳ میں دیے شرائط لازمی ہیں۔ اگر صرف ایک نقطہ پر بھی یہ شرائط مطمئن نہ ہوتے ہوں تب ضروری نہیں کہ ترسیم کا افقی مماس پایا جاتا ہو (شکل ۴.۱۴)۔

مثال ۴.۶: درج ذیل کثیر رکنی وقفہ $[-3, 3]$ کے ہر نقطہ پر استراری ہے اور $(-3, 3)$ کے ہر نقطہ پر قابل تفرق ہے۔

$$f(x) = \frac{x^3}{3} - 3x$$

چونکہ $f(-3) = f(3) = 0$ ہے لہٰذا مسئلہ رول کے تحت $a = -3$ اور $b = 3$ کھلا وقفہ کے بیچ کم سے کم ایک نقطہ پر $f' = 0$ ہو

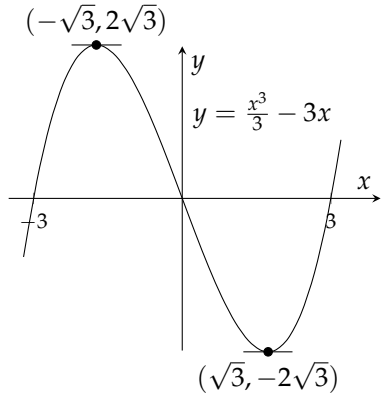

شکل ۱۵.۴: ترسیم برائے مثال ۶.۴

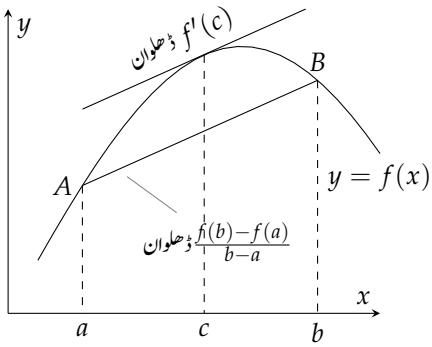

شکل ۱۶.۴: جیومیٹریائی طور پر مسئلہ اوسط قیمت کہتا ہے کہ A اور B کے بیچ کہیں پر تفاعل کا مماس قطعہ AB کے متوازی ہو گا۔

۴۵۹۹ گا۔ حقیقتاً اس وقفے میں $f'(x) = x^2 - 3$ دو نقطوں $x = \sqrt{3}$ اور $x = -\sqrt{3}$ پر صفر کے برابر ہے (شکل ۱۵.۴)۔ □

۴۶۰۰ **مسئلہ اوسط قیمت**

۴۶۰۱ مسئلہ رول کی ترچھی صورت مسئلہ اوسط قیمت ہے (شکل ۱۶.۴)۔ قطعہ AB کے متوازی نقطہ A اور B کے بیچ کہیں پر تفاعل کا ایسا مماس پایا جاتا ہے جس
۴۶۰۲ کا ڈھلوان قطعہ کے ڈھلوان کے برابر ہو گا۔

۴۶۰۳ مسئلہ ۴.۴: **مسئلہ اوسط قیمت**[۵] فرض کریں بند وقفہ $[a, b]$ کے ہر نقطہ پر $y = f(x)$ استمراری ہے اور اس کی اندرون (a, b) کے ہر نقطہ
۴۶۰۴ پر f قابل تفرق ہے تب (a, b) میں کم سے کم ایک ایسا نقطہ پایا جائے گا جو درج ذیل کو مطمئن کرے گا۔

$$\frac{f(b) - f(a)}{b - a} = f'(c) \tag{۱}$$

۴۶۰۵ ثبوت: ہم f کی ترسیم پر دو نقطوں $A(a, f(a))$ اور $B(b, f(b))$ کے بیچ سیدھی لکیر کھینچتے ہیں (شکل ۱۷.۴-۱)۔ یہ لکیر درج ذیل تفاعل
۴۶۰۶ کی ترسیم ہو گی۔

$$g(x) = f(a) + \frac{f(b) - f(a)}{b - a}(x - a) \qquad \text{(نقطہ ڈھلوان صورت)} \tag{۲}$$

۴۶۰۷ نقطہ x پر f اور g کے بیچ انتصابی فاصلہ

$$\begin{aligned} h(x) &= f(x) - g(x) \\ &= f(x) - f(a) - \frac{f(b) - f(a)}{b - a}(x - a) \end{aligned} \tag{۳}$$

---

[۵] meanvaluetheorem

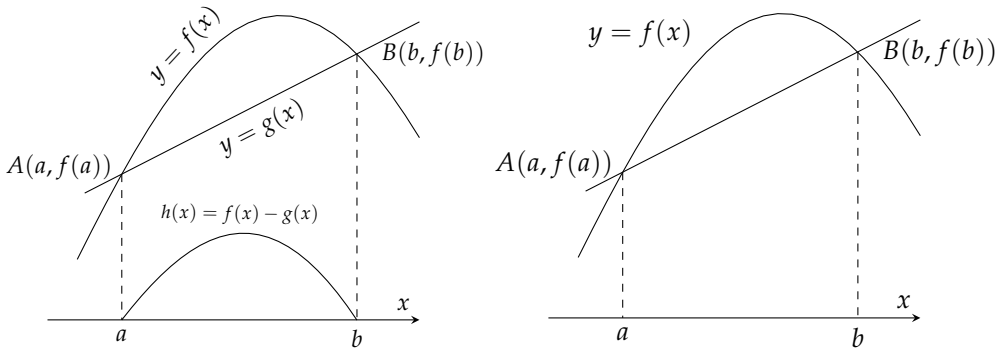

(ب) $f(x)$ اور $g(x)$ کے بیچ افقی فاصلہ $h(x)$ ہے۔

(ا) وقفہ $[a, b]$ پر f اور قطعہ AB کی ترسیم۔

شکل ۴.۱۷: مسئلہ اوسط قیمت۔

ہو گا۔ شکل ۴.۱۷-ب میں f ، g اور h دکھائے گئے ہیں۔

تفاعل h وقفہ $[a, b]$ پر مسئلہ رول کو مطمئن کرتا ہے۔ تفاعل h وقفہ $[a, b]$ پر استمراری اور (a, b) پر قابل تفرق ہے (چونکہ اس وقفہ پر f اور g استمراری اور قابل تفرق ہیں)۔ مزید چونکہ f اور g دونوں نقطہ A اور B سے گزرتے ہیں لہٰذا $h(a) = h(b) = 0$ ہے۔ یوں (a, b) میں کسی نقطہ c پر $h'(x) = 0$ ہو گا۔ یہ وہ نقطہ ہے جو ہمیں مساوات ا میں درکار ہے۔

مساوات ا کی تصدیق کی خاطر ہم x کے لحاظ سے مساوات ۳ کے دونوں ہاتھ کا تفرق لے کر اس میں $x = c$ پر کرتے ہیں۔

$$
\begin{aligned}
h'(x) &= f'(x) - \frac{f(b) - f(a)}{b - a} && \text{(تفرق)} \\
h'(c) &= f'(c) - \frac{f(b) - f(a)}{b - a} && (x = c) \\
0 &= f'(c) - \frac{f(b) - f(a)}{b - a} && (h'(c) = 0) \\
f'(c) &= \frac{f(b) - f(a)}{b - a}
\end{aligned}
$$

یوں ثبوت مکمل ہوتا ہے۔

□

دھیان رہے کہ مسئلہ اوسط قیمت میں نقطہ a یا b پر f کا قابل تفرق ہونا ضروری نہیں ہے البتہ ان نقطوں پر f کا استمراری ہونا کافی ہے (شکل ۴.۱۸)۔ ہم عموماً c کے بارے میں صرف اتنا ہی جانتے ہیں جتنا یہ مسئلہ ہمیں بتاتا ہے، یعنی کہ، c موجود ہے۔ اگلی مثال کی طرح بعض اوقات ہم c کو جان پاتے ہیں لیکن ایسا شاذ و نادر ہو گا۔

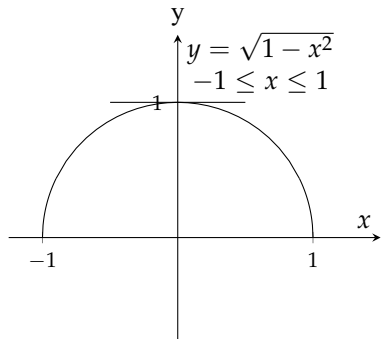

شکل ۴.۱۸: اگرچہ $y = \sqrt{1-x^2}$ نقطہ -1 اور 1 پر نا قابل تفرق ہے یہ $[-1,1]$ پر مسئلہ اوسط قیمت کو مطمئن کرتا ہے۔

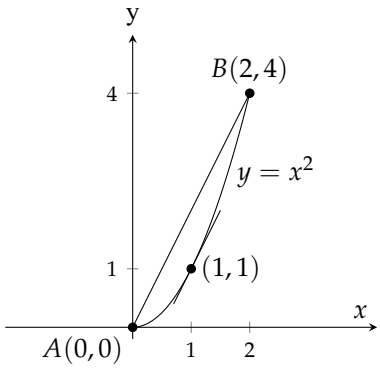

شکل ۴.۱۹: نقطہ $c = 1$ پر مماس قطعہ AB کے متوازی ہے (مثال ۴.۷)

مثال ۴.۷: وقفہ $0 \le x \le 2$ پر تفاعل $f(x) = x^2$ استمراری ہے اور $0 < x < 2$ پر یہ قابل تفرق ہے (شکل ۴.۱۹)۔ چونکہ $f(0) = 0$ اور $f(2) = 4$ ہیں لہٰذا مسئلہ اوسط قیمت کے تحت اس وقفہ میں نقطہ c پر تفرق $f'(x) = 2x$ کی قیمت لازماً $\frac{4-0}{2-0} = 2$ ہو گی۔ موجودہ مثال میں ہم $2x = 2$ کو حل کرتے ہوئے $x = c = 1$ حاصل کر پاتے ہیں۔ □

طبعی تشریح

اگر ہم $[a,b]$ پر $\frac{f(b)-f(a)}{b-a}$ کو f کی اوسط تبدیلی اور $f'(c)$ کو لمحاتی تبدیلی تصور کریں تب مسئلہ اوسط قیمت کہتا ہے کہ کسی اندرونی نقطہ پر لمحاتی تبدیلی ضرور پورے وقفہ پر اوسط تبدیلی کے برابر ہو گی۔

مثال ۴.۸: ایک گاڑی ساکن حال سے شروع ہو کر 8 سیکنڈوں میں کل 120 میٹر فاصلہ طے کرتی ہے۔ ان 8 سیکنڈوں کے لئے گاڑی کی اوسط رفتار $\frac{120}{8} = 15\,\mathrm{m\,s^{-1}}$ ہے۔ مسئلہ اوسط قیمت کہتا ہے کہ ان آٹھ سیکنڈوں میں کسی لمحہ رفتار بیا ٹھیک یہی رفتار دکھائے گا۔ □

ضمنی نتائج اور چند جوابات

اس حصہ کے شروع میں ہم نے پوچھا کہ کس تفاعل کا تفرق صفر ہو گا۔ مسئلہ اوسط قیمت کا پہلا ضمنی نتیجہ اس کا جواب دیتا ہے۔

ضمنی نتیجہ ۴.۱: **صفر تفرق کے تفاعل مستقل ہوں گے**

اگر وقفہ I کے ہر نقطہ پر $f'(x) = 0$ ہو تب I میں تمام x پر $f(x) = C$ ہو گا جہاں C مستقل ہے۔

ہم جانتے ہیں کہ اگر وقفہ I پر تفاعل f کی قیمت مستقل ہو تب I پر f قابل تفرق ہو گا اور I میں تمام x پر $f'(x) = 0$ ہو گا۔ ضمنی نتیجہ اس کا

الٹ پیش کرتا ہے۔

ثبوت ضمنی نتیجہ: ہم دکھانا چاہتے ہیں کہ I پر f کی قیمت مستقل ہے۔ ہم I میں ہر دو نقطوں x_1 اور x_2 پر $f(x_1) = f(x_2)$ دکھاتے ہوئے ایسا کرتے ہیں۔

فرض کریں x_1 اور x_2 وقفہ I میں کوئی بھی دو نقطے ہیں جن کی شمار بائیں سے دائیں جانب ہے لہٰذا $x_1 < x_2$ ہوگا۔ یوں $[x_1, x_2]$ پر f مسئلہ اوسط قیمت کو مطمئن کرے گا۔ یہ کے ہر نقطہ پر قابل تفرق ہوگا لہٰذا یہ ہر اس نقطہ پر استمراری بھی ہوگا۔ یوں x_1 اور x_2 کے بیچ کسی نقطہ c پر

$$\frac{f(x_2) - f(x_1)}{x_2 - x_1} = f'(c)$$

ہوگا۔ چونکہ پورے I پر $f' = 0$ ہے لہٰذا اس مساوات کو درج ذیل لکھا جا سکتا ہے۔

$$\frac{f(x_2) - f(x_1)}{x_2 - x_1} = f'(c), \quad f(x_2) - f(x_1) = 0, \quad f(x_1) = f(x_2)$$

□

اس حصہ کے شروع میں ہم نے یہ بھی پوچھا کہ کیا ہم اسراع سے پیچھے کی طرف چلتے ہوئے رفتار اور ہٹاو تلاش کر سکتے ہیں۔ یہ کا جواب اگلا ضمنی نتیجہ پیش کرتا ہے۔

ضمنی نتیجہ ۴.۲: ایک سے تفرق والے تفاعل میں مستقل کا فرق ہوگا

اگر وقفہ I کے ہر نقطہ پر $f'(x) = g'(x)$ ہو تب ایسا مستقل C موجود ہوگا کہ I میں تمام x پر $f(x) = g(x) + C$ ہو۔

ثبوت ضمنی نتیجہ: I میں ہر نقطہ پر تفاعل فرق $h = f - g$ کا تفرق

$$h'(x) = f'(x) - h'(x) = 0$$

ہوگا۔ یوں ضمنی نتیجہ ۴.۱ کے تحت I پر $h(x) = C$ ہوگا۔ یوں $f(x) - g(x) = C$ یا $f(x) = g(x) + C$ ہوگا۔

□

ضمنی نتیجہ ۴.۲ کہتا ہے کہ وقفہ پر دو تفاعل کے فرق کا تفرق صرف اس صورت صفر کے برابر ہوگا جب اس وقفہ پر ان تفاعل کا مستقل فرق ہو۔ مثال کے طور پر ہم جانتے ہیں کہ $(-\infty, \infty)$ پر $f(x) = x^2$ کا تفرق $2x$ ہے۔ ایسا دوسرا تفاعل جس کا $(-\infty, \infty)$ پر تفرق $2x$ ہو کا کلیہ لازماً $x^2 + C$ ہوگا (شکل ۴.۲۰)۔

مثال ۴.۹: ایسا تفاعل $f(x)$ تلاش کریں جس کا تفرق $\sin x$ ہو اور جو نقطہ $(0, 2)$ سے گزرتا ہو۔

حل: چونکہ $g(x) = -\cos x$ کا تفرق بھی $\sin x$ ہے لہٰذا $f(x) = -\cos x + C$ ہوگا۔ دیا گیا نقطہ اس میں پر کرتے ہوئے مستقل C حاصل کرتے ہیں۔

$$f(0) = -\cos(0) + C = 2 \quad \Longrightarrow \quad C = 3$$

یوں درکار تفاعل $f(x) = -\cos x + 3$ ہے (شکل ۴.۲۱)۔ □

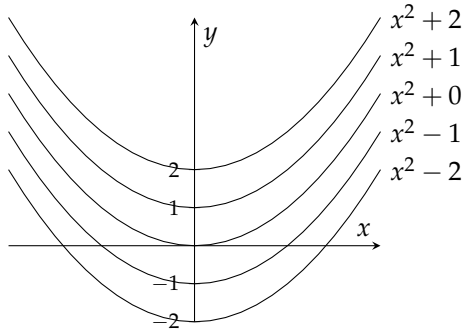

شکل ۲۰.۴: ضمنی نتیجہ ۲.۴ کہتا ہے کہ ایک سے تفرق والے تفاعل میں صرف انتصابی فرق پایا جاتا ہے۔

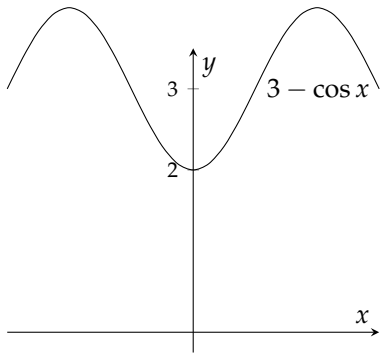

شکل ۲۱.۴: ترسیم برائے مثال ۹.۴

۴۶۵۳ **اسراع سے سمتی رفتار اور ہٹاو کا حصول**

۴۶۵۴ سطح زمین کے قریب جہاں $g = 9.8\,\mathrm{m\,s^{-2}}$ ہے ساکن حال سے آزادانہ گرتے ہوئے جسم کی سمتی رفتار اور ہٹاو تلاش کرتے ہیں۔

۴۶۵۵ ہم جانتے ہیں کہ سمتی رفتار v ایسا تفاعل ہے جس کا تفرق 9.8 کے برابر ہے۔ ہم یہ جانتے ہیں کہ $g(t) = 9.8t$ کا تفرق 9.8 ہے لہٰذا ضمنی نتیجہ
۴۶۵۶ ۲.۴ کے تحت

$$v(t) = 9.8t + C$$

۴۶۵۷ ہو گا جہاں C مستقل ہے۔ لمحہ $t = 0$ پر جسم ساکن ہو گا لہٰذا

$$v(0) = 9.8(0) + C \quad \Longrightarrow \quad C = 0$$

۴۶۵۸ ہو گا۔ یوں سمتی رفتار تفاعل $v(t) = 9.8t$ ہو گا۔ ہم یہ بھی جانتے ہیں کہ $h(t) = 4.9t^2$ کا تفرق $9.8t$ ہے لہٰذا ضمنی نتیجہ ۲.۴ کے تحت

$$s(t) = 4.9t^2 + C$$

۴۶۵۹ ہو گا جہاں C مستقل ہے۔ چونکہ لمحہ $t = 0$ پر ہٹاو صفر ہے لہٰذا

$$s(0) = 4.9(0^2) + C = 0 \quad \Longrightarrow \quad C = 0$$

۴۶۶۰ یعنی $s(t) = 4.9t^2$ ہو گا۔

۴۶۶۱ کسی تفاعل کی شرح تبدیلی سے تفاعل حاصل کرنے کی صلاحیت، احصاء کی اہم ترین طاقت ہے۔ اس پر مزید بات اگلے باب میں کی جائے گی۔

۴۶۶۲ **بڑھتا تفاعل اور گھٹتا تفاعل**

۴۶۶۳ اس حصہ کے شروع میں ہم نے پوچھا کہ کس قسم کے تفاعل کا تفرق مثبت اور کس کا تفرق منفی ہو گا۔ مسئلہ اوسط قیمت کا تیسرا ضمنی نتیجہ جو اس کا جواب دیتا ہے
۴۶۶۴ کہتا ہے کہ بڑھتے ہوئے تفاعل کا تفرق مثبت اور گھٹتے ہوئے تفاعل کا تفرق منفی ہو گا۔

تعریف: فرض کریں وقفہ I پر تفاعل f معین ہے اور اس وقفہ پر x_1 اور x_2 کوئی بھی دو نقطے ہیں۔

۱. اگر $x_1 < x_2$ کی صورت میں $f(x_1) < f(x_2)$ ہو تب I پر f **بڑھتا**[۶] تفاعل کہلاتا ہے۔

۲. اگر $x_1 < x_2$ کی صورت میں $f(x_1) > f(x_2)$ ہو تب I پر f **گھٹتا**[۷] تفاعل کہلاتا ہے۔

□

ضمنی نتیجہ ۴.۳: بڑھتے اور گھٹتے تفاعل کا پہلا تفرقی پرکھ

فرض کریں $[a,b]$ پر f استمراری اور (a,b) پر f قابل تفرق ہے۔

- اگر (a,b) کے ہر نقطہ پر $f' > 0$ ہو تب $[a,b]$ پر f بڑھتا ہے۔
- اگر (a,b) کے ہر نقطہ پر $f' < 0$ ہو تب $[a,b]$ پر f گھٹتا ہے۔

ثبوت ضمنی نتیجہ: فرض کریں $[a,b]$ میں x_1 اور x_2 کوئی دو نقطے ہیں جہاں $x_1 < x_2$ ہے۔ وقفہ $[x_1,x_2]$ پر مسئلہ اوسط قیمت تفاعل f کے لئے کہتا ہے کہ

$$f(x_2) - f(x_1) = f'(c)(x_2 - x_1) \tag{۴}$$

ہو گا جہاں x_1 اور x_2 کے بیچ c ایک موزوں نقطہ ہے۔ چونکہ $x_2 - x_1$ مثبت قیمت ہے لہٰذا مساوات ۴ کے دائیں ہاتھ کی علامت وہی ہو گی جو $f'(c)$ کی ہے۔ یوں (a,b) پر مثبت $f'(c)$ کی صورت میں $f(x_2) > f(x_1)$ ہو گا جبکہ (a,b) پر منفی $f'(c)$ کی صورت میں $f(x_1) < f(x_2)$ ہو گا۔

□

مثال ۴.۱۰: وقفہ $(-\infty,0)$ پر تفاعل $f(x) = x^2$ کا تفرق $f'(x) = 2x < 0$ ہے لہٰذا اس وقفے پر f گھٹے گا۔ وقفہ $(0,\infty)$ پر تفاعل $f(x) = x^2$ کا تفرق $f'(x) = 2x > 0$ ہے لہٰذا اس وقفے پر f بڑھے گا (شکل ۴.۲۲)۔ □

سوالات

مسئلہ اوسط قیمت میں c کی تلاش

سوال ۴.۴۱ تا سوال ۴.۴۴ میں دیے وقفہ اور تفاعل کے لئے c کی ایسی قیمت تلاش کریں جو مسئلہ اوسط قیمت کے نتیجہ

$$\frac{f(b)-f(a)}{b-a} = f'(c)$$

کو مطمئن کرتی ہو۔

---

[۶] increasing
[۷] decreasing

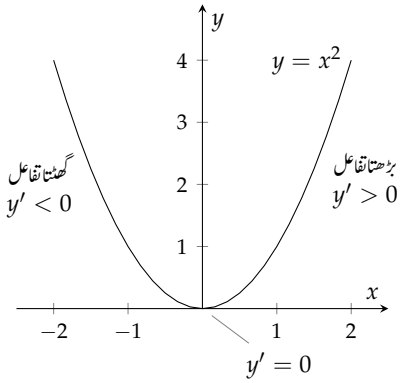

شکل ۲۲.۴: ترسیم برائے مثال ۱۰.۴

سوال ۴۱.۴: $f(x) = x^2 + 2x - 1, \quad [0,1]$

سوال ۴۲.۴: $f(x) = x^{2/3}, \quad [0,1]$

سوال ۴۳.۴: $f(x) = x + \frac{1}{x}, \quad [\frac{1}{2}, 2]$

سوال ۴۴.۴: $f(x) = \sqrt{x-1}, \quad [1,3]$

قیاس کی پرکھ اور استعمال

سوال ۴۵.۴ تا سوال ۴۸.۴ میں کون سے تفاعل دیے وقفہ پر مسئلہ اوسط قیمت کے قیاس کو مطمئن کرتے ہیں اور کون سے تفاعل ایسا نہیں کرتے ہیں۔ اپنے جواب کی وجہ پیش کریں۔

سوال ۴۵.۴: $f(x) = x^{2/3}, \quad [-1,8]$

سوال ۴۶.۴: $f(x) = x^{4/5}, \quad [0,1]$

سوال ۴۷.۴: $f(x) = \sqrt{x(1-x)}, \quad [0,1]$

سوال ۴۸.۴: $f(x) = \begin{cases} \frac{\sin x}{x}, & -\pi \leq x < 0 \\ 0, & x = 0 \end{cases}$

سوال ۴۹.۴: درج ذیل تفاعل $x = 0$ اور $x = 1$ پر صفر کے برابر ہے اور $(0,1)$ پر قابل تفرق ہے لیکن (a,b) پر اس کا تفرق کبھی بھی صفر نہیں ہے۔

$$f(x) = \begin{cases} x, & 0 \leq x < 1 \\ 0, & x = 1 \end{cases}$$

ایسا کیوں ممکن ہے؟ کیا مسئلہ رول نہیں کہتا کہ $(0,1)$ پر کہیں تفرق صفر ہو گا؟ اپنے جواب کی وجہ پیش کریں۔

سوال ۴.۵۰: وقفہ $[0,2]$ پر a ، m اور b کی کون سی قیمتوں کے لئے درج ذیل تفاعل مسئلہ اوسط قیمت کی قیاس کو مطمئن کرتا ہے؟

$$f(x) = \begin{cases} 3, & x = 0 \\ -x^2 + 3x + a, & 0 < x < 1 \\ mx + b, & 1 \leq x \leq 2 \end{cases}$$

جذر (صفر)

سوال ۴.۵۱:

ا. باری باری درج ذیل کثیر رکنیوں کے صفر کو ایک لکیر پر ترسیم کریں۔ ساتھ ہی ان کے یک رتبی تفرق کے صفر بھی ترسیم کریں۔

۱. $y = x^2 - 4$

۲. $y = x^2 + 8x + 15$

۳. $y = x^3 - 3x^2 + 4 = (x+1)(x-2)^2$

۴. $y = x^3 - 33x^2 + 216x = x(x-9)(x-24)$

ب. مسئلہ رول کی مدد سے ثابت کریں کہ $x^n + a_{n-1}x^{n-1} + \cdots + a_1 x + a_0$ کے ہر دو صفر کے بیچ $nx^{n-1} + (n-1)a_{n-1}x^{n-2} + \cdots + a_1$ کا ایک صفر پایا جاتا ہے۔

سوال ۴.۵۲: فرض کریں کہ وقفہ $[a,b]$ میں f''' استمراری ہے اور اس وقفہ پر f کے تین صفر پائے جاتے ہیں۔ دکھائیں کہ اس وقفہ پر f'' کا کم سے کم ایک صفر پایا جائے گا۔ اس نتیجہ کو عمومی بنائیں۔

سوال ۴.۵۳: دکھائیں کہ اگر پورے $[a,b]$ پر $f'' > 0$ ہو تب $[a,b]$ میں f' کا زیادہ سے زیادہ ایک صفر پایا جائے گا۔ اگر $[a,b]$ پر $f'' < 0$ ہو تب کیا ہو گا؟

سوال ۴.۵۴: دکھائیں کہ کعبی کثیر رکنی کے صفروں کی زیادہ سے زیادہ تعداد تین ممکن ہے۔

نظریہ اور مثالیں

سوال ۴.۵۵: دکھائیں کہ دو گھنٹوں کی صفر میں کسی لمحہ پر گاڑی کا رفتار پیما ضرور دو گھنٹوں کی اوسط رفتار دکھائے گا۔

سوال ۴.۵۶: تبدیلی درجہ حرارت برف سے حرارت پیما کو نکال کر ابلتے ہوئے پانی میں رکھنے سے اس کا درجہ حرارت 14 سیکنڈوں میں $-19\,^\circ\mathrm{C}$ سے بڑھ کر $100\,^\circ\mathrm{C}$ ہوتا ہے۔ دکھائیں کہ اس دوران درجہ حرارت میں تبدیلی کی شرح کسی لمحے پر $8.5\,^\circ\mathrm{C\,s^{-1}}$ ضرور ہو گی۔

سوال ۴.۵۷: فرض کریں کہ وقفہ $[0,1]$ پر قابل تفرق تفاعل f کا تفرق کبھی صفر نہیں ہوتا ہے۔ دکھائیں کہ $f(0 \neq f(1)$ ہو گا۔

سوال ۴.۵۸: دکھائیں کہ a اور b کی کسی بھی قیمتوں کے لئے $|\sin b - \sin a| \leq |b - a|$ ہو گا۔

سوال ۴.۵۹: فرض کریں $[a,b]$ پر f قابل تفرق ہے اور $f(b) < f(a)$ ہے۔ کیا $[a,b]$ پر f' کی قیمت کے بارے میں کچھ کہنا ممکن ہو گا؟

سوال ۴.۶۰: فرض کریں $[a,b]$ پر f اور g قابل تفرق ہیں اور $f(a) = g(a)$ اور $f(b) = g(b)$ ہیں۔ دکھائیں کہ a اور b کے بیچ کم سے کم ایسا ایک نقطہ پایا جاتا ہے جہاں f اور g کی ترسیمات کے مماس آپس میں متوازی ہیں۔

سوال ۴.۶۱: فرض کریں x کی ہر قیمت کے لئے f قابل تفرق ہے۔ مزید فرض کریں کہ $f(1) = 1$ ہے اور $(-\infty,1)$ پر $f' < 0$ ہے اور $(1,\infty)$ پر $f' > 0$ ہے۔

ا. دکھائیں کہ تمام x پر $f(x) \geq 1$ ہو گا۔

ب. کیا $f'(1) = 0$ لازماً ہو گا؟ وجہ پیش کریں۔

سوال ۴.۶۲: فرض کریں $f(x) = px^2 + qx + r$ بند وقفہ $[a,b]$ پر معین ہے۔ دکھائیں کہ (a,b) میں ٹھیک ایک نقطہ c پر f مسئلہ اوسط قیمت کے نتیجہ پر پورا اترتا ہے۔

سوال ۴.۶۳: حیرت کن ترسیم درج ذیل تفاعل ترسیم کریں۔

$$f(x) = \sin x \sin(x+2) - \sin^2(x+1)$$

یہ ترسیم کیا کرتی ہے؟ یہ تفاعل اس طرح کا رویہ کیوں رکھتا ہے؟ اپنے جواب کی وجہ پیش کریں۔

سوال ۴.۶۴: اگر دو تفاعل $f(x)$ اور $g(x)$ کی ترسیمات مستوی میں ایک ہی نقطہ سے شروع ہوتے ہوں اور ہر نقطہ پر ان کی شرح تبدیلی ایک سی ہو تب کیا یہ تفاعل بالکل ایک سے نہیں ہوں گے؟ اپنے جواب کہ وجہ پیش کریں۔

سوال ۴.۶۵:

ا. دکھائیں کہ تفاعل $g(x) = \frac{1}{x}$ اپنے دائرہ کار کے ہر وقفہ میں گھٹتا ہے۔

ب. اگر جزو(ا) کا نتیجہ درست ہو تب $g(1) = 1$ کس طرح $g(-1) = -1$ سے بڑا ہو سکتا ہے؟

سوال ۴.۶۶: فرض کریں وقفہ $[a,b]$ میں تفاعل f معین ہے۔ درج ذیل کو مطمئن کرنے کی خاطر f پر کون سے شرائط لاگو کرنے ہوں گے

$$\text{کم سے کم } f' \leq \frac{f(b)-f(a)}{b-a} \leq \text{زیادہ سے زیادہ } f'$$

جہاں کم سے کم f' اور زیادہ سے زیادہ f' سے مراد $[a,b]$ پر بالترتیب f' کی کم سے کم اور زیادہ سے زیادہ قیمت ہے۔

سوال ۴.۶۷: اگر $0 \leq x \leq 0.1$ پر $f'(x) = 1/(1+x^4\cos x)$ ہو اور $f(0) = 1$ ہو تب سوال ۴.۶۶ کی عدم مساوات استعمال کرتے ہوئے $f(0.1)$ کی تخمینی قیمت تلاش کریں۔

سوال ۴.۶۸: اگر $0 \leq x \leq 0.1$ پر $f'(x) = 1/(1-x^4)$ ہو اور $f(0) = 2$ ہو تب سوال ۴.۶۶ کی عدم مساوات استعمال کرتے ہوئے $f(0.1)$ کی تخمینی قیمت تلاش کریں۔

سوال ۴.۶۹: ہندسی اوسط۔ دو مثبت اعداد a اور b کی **ہندسی اوسط**[8] سے مراد عدد $\sqrt{ab}$ ہے۔ دکھائیں کہ مسئلہ اوسط قیمت کے نتیجہ میں مثبت اعداد کے وقفہ $[a,b]$ پر تفاعل $f(x) = \frac{1}{x}$ کے لئے c کی قیمت $\sqrt{ab}$ ہے۔

---

[8] geometricmean

سوال ۴.۷۰: حسابی اوسط۔ دو اعداد a اور b کی **حسابی اوسط**[9] $\frac{a+b}{2}$ ہے۔ دکھائیں کہ مسئلہ اوسط قیمت میں وقفہ $[a,b]$ پر تفاعل $f(x)=x^2$ کے لئے c کی قیمت $\frac{a+b}{2}$ ہو گی۔

تفرق سے تفاعل کا حصول

سوال ۴.۷۱: فرض کریں $f(-1)=3$ اور تمام x کے لئے $f'(x)=0$ ہے۔ کیا تمام x کے لئے $f(x)=3$ ہو گا؟ اپنے جواب کی وجہ پیش کریں۔

سوال ۴.۷۲: فرض کریں $f(0)=5$ اور تمام x کے لئے $f'(x)=2$ ہیں۔ کیا تمام x کے لئے $f(x)=2x+5$ ہو گا؟ اپنے جواب کی وجہ پیش کریں۔

سوال ۴.۷۳: فرض کریں تمام x کے لئے $f'(0)=2x$ ہے۔ درج ذیل صورتوں میں $f(2)$ تلاش کریں۔

ا. $f(0)=0$ ب. $f(1)=0$ ج. $f(-2)=3$

سوال ۴.۷۴: جن تفاعل کا تفرق مستقل ہو ان کے بارے میں کیا کہا جا سکتا ہے؟ اپنے جواب کی وجہ پیش کریں۔

سوال ۴.۷۵ تا سوال ۴.۸۰ میں وہ تفاعل تلاش کریں جس کا تفرق دیا گیا ہے۔

سوال ۴.۷۵: (ا) $y'=x$، (ب) $y'=x^2$، (ج) $y'=x^3$

سوال ۴.۷۶: (ا) $y'=2x$، (ب) $y'=2x-1$، (ج) $y'=3x^2+2x-1$

سوال ۴.۷۷: (ا) $y'=-\frac{1}{x^2}$، (ب) $y'=1-\frac{1}{x^2}$، (ج) $y'=5+\frac{1}{x^2}$

سوال ۴.۷۸: (ا) $y'=\frac{1}{2\sqrt{x}}$، (ب) $y'=\frac{1}{\sqrt{x}}$، (ج) $y'=4x-\frac{1}{\sqrt{x}}$

سوال ۴.۷۹: (ا) $y'=\sin 2t$، (ب) $y'=\cos\frac{t}{2}$، (ج) $y'=\sin 2t+\cos\frac{t}{2}$

سوال ۴.۸۰: (ا) $y'=\sec^2\theta$، (ب) $y'=\sqrt{\theta}$، (ج) $y'=\sqrt{\theta}-\sec^2\theta$

سوال ۴.۸۱ تا سوال ۴.۸۴ میں وہ تفاعل تلاش کریں جس کا تفرق دیا گیا ہے اور جو دیے گئے نقطہ سے گزرتا ہے۔

سوال ۴.۸۱: $f'(x)=2x-1,\quad N(0,0)$

سوال ۴.۸۲: $g'(x)=\frac{1}{x^2}+2x,\quad N(-1,1)$

سوال ۴.۸۳: $r'(\theta)=8-\csc^2\theta,\quad N(\frac{\pi}{4},0)$

سوال ۴.۸۴: $r'(t)=\sec t\tan t-1,\quad N(0,0)$

صفروں کی گنتی

مساوات $f(x)=0$ کو اعدادی طریقہ سے حل کرنے سے پہلے ہم عموماً مطلوبہ وقفہ پر مساوات کی متوقع صفروں کی تعداد جاننا چاہتے ہیں۔ بعض اوقات ضمنی نتیجہ ۴.۳ کی مدد سے ایسا کرنا ممکن ہو گا۔

درج ذیل فرض کریں۔

---

[9] arithmeticmean

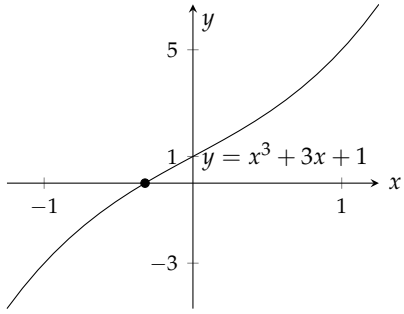

شکل ۴.۲۳: کثیر رکنی $y = x^3 + 3x + 1$ کا واحد صفر دکھایا گیا ہے۔

۱. $[a, b]$ پر f استمراری اور (a, b) پر قابل تفرق ہے۔

۲. $f(a)$ اور $f(b)$ کی علامتیں ایک دوسرے کی الٹ ہیں۔

۳. پورے (a, b) پر $f' > 0$ اور یا پورے (a, b) پر $f' < 0$ ہے۔

تب a اور b کے بیچ f کا ٹھیک ایک صفر پایا جائے گا۔ چونکہ یہ پورے $[a, b]$ پر بڑھ رہا ہے اور یا پورے $[a, b]$ پر گھٹ رہا ہے لہٰذا یہ x محور کو ایک ہی مرتبہ قطع کر سکتا ہے۔ اس کے باوجود مسئلہ ۲.۹ کے تحت اس کا کم سے کم ایک صفر ہو گا۔ مثال کے طور پر $[-1, 1]$ پر $f(x) = x^3 + 3x + 1$ قابل تفرق ہے، $f(-1) = -3$ اور $f(1) = 5$ کی علامتیں ایک دوسرے کی الٹ ہیں، اور تمام x کے لئے $f'(x) = 3x^2 + 3 > 0$ ہے لہٰذا $[-1, 1]$ پر f کا ٹھیک ایک صفر پایا جاتا ہے (شکل ۴.۲۳)۔

سوال ۴.۸۵ تا سوال ۴.۹۲ میں دکھائیں کہ دیے گئے وقفہ پر تفاعل کا صرف ایک صفر پایا جاتا ہے۔

سوال ۴.۸۵: $f(x) = x^4 + 3x + 1, \quad [-2, -1]$

سوال ۴.۸۶: $f(x) = x^3 + \frac{4}{x^2} + 7, \quad (-\infty, 0)$

سوال ۴.۸۷: $g(t) = \sqrt{t} + \sqrt{1+t} - 4, \quad (0, \infty)$

سوال ۴.۸۸: $g(t) = \frac{1}{1-t} + \sqrt{1+t} - 3, \quad (-1, 1)$

سوال ۴.۸۹: $r(\theta) = \theta + \sin^2(\frac{\theta}{3}) - 8, \quad (-\infty, \infty)$

سوال ۴.۹۰: $r(\theta) = 2\theta - \cos^2\theta + \sqrt{2}, \quad (-\infty, \infty)$

سوال ۴.۹۱: $r(\theta) = \sec\theta - \frac{1}{\theta^3} + 5, \quad (0, \frac{\pi}{2})$

سوال ۴.۹۲: $r(\theta) = \tan\theta - \cot\theta - \theta, \quad (0, \frac{\pi}{2})$

کمپیوٹر کا استعمال

سوال ۴.۹۳:

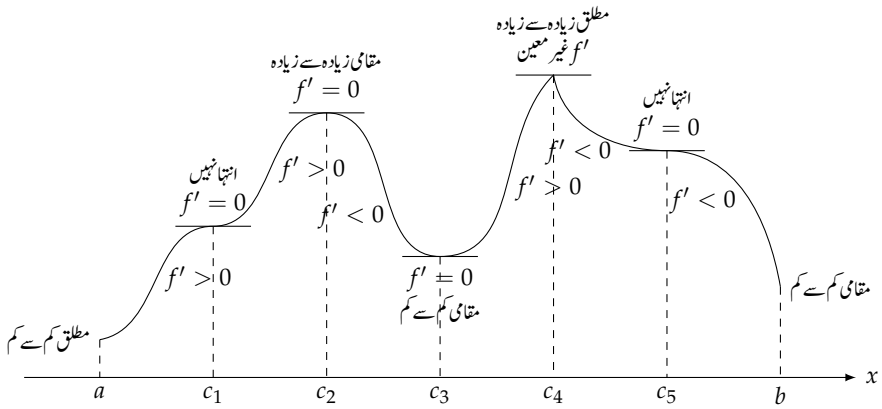

شکل ۴.۲۴: بعض نقطہ فاصل پر مقامی انتہا پائی جاتی ہے اور بعض پر نہیں۔

۴۷۹۲ ا. ایسا کثیر رکنی $f(x)$ تشکیل دیں جس کے صفر $x = -2, -1, 0, 1, 2$ پر پائے جاتے ہوں۔

۴۷۹۳ ب. $f(x)$ اور $f'(x)$ کو ایک ساتھ ترسیم کریں۔ آپ کو کیا خوبی نظر آتی ہے۔

۴۷۹۴ ج. کیا $g(x) = \sin x$ اور اس کا تفرق $g'(x)$ بھی ایسی خوبی رکھتے ہیں؟

۴۷۹۵

۴۷۹۶

۴۷۹۷ ۴.۳ مقامی انتہائی قیمتوں کا یک رتبی تفرقی پرکھ

۴۷۹۸ اس حصہ میں مقامی انتہائی قیمت کی موجودگی کے لئے تفاعل کے نقطہ فاصل کو پرکھنا دکھایا جائے گا۔

۴۷۹۹ پرکھ

۴۸۰۰ جیسا شکل ۴.۲۴ میں دکھایا گیا ہے تفاعل f کے بعض نقطہ فاصل پر تفاعل کی مقامی انتہا پائی جائے گی اور بعض پر نہیں۔ یہ راز نقطہ کے بالکل قریب f' کی
۴۸۰۱ علامت میں پوشیدہ ہے۔ جیسا جیسا x بائیں سے دائیں رخ بڑھتا ہے f کی قیمت وہاں بڑھتی ہے جہاں $f' > 0$ ہو اور f کی قیمت وہاں گھٹتی ہے جہاں
۴۸۰۲ $f' < 0$ ہو۔

۴۸۰۳ آپ (شکل ۴.۲۴ سے) دیکھ سکتے ہیں کہ مقامی کم سے کم نقطہ پر نقطہ کے بالکل بائیں $f' < 0$ جبکہ نقطہ کے بالکل دائیں $f' > 0$ ہو گا۔ (آخری نقطہ
۴۸۰۴ کی صورت میں نقطہ کے صرف ایک طرف پر f' کی قیمت دیکھی جا سکتی ہے۔) یوں مقامی کم سے کم نقطہ کے بالکل بائیں تفاعل کی قیمت گھٹتی ہے (یعنی ترسیم
۴۸۰۵ نیچے گرتی ہے) جبکہ اس نقطہ کے بالکل دائیں تفاعل کی قیمت بڑھتی ہے (یعنی ترسیم اوپر اٹھتی ہے)۔ اسی طرح مقامی زیادہ سے زیادہ نقطہ پر نقطہ کے بالکل بائیں
۴۸۰۶ $f' > 0$ جبکہ نقطہ کے بالکل دائیں $f' < 0$ ہو گا۔ یوں اس نقطہ کے بالکل بائیں تفاعل کی قیمت بڑھتی ہے (یعنی ترسیم اوپر اٹھتی ہے) جبکہ اس نقطہ کے

(ا) $f'(c) = 0$ (ب) $f'(c)$ غیر معین

شکل ۴.۲۵: پرکھ برائے مقامی زیادہ سے زیادہ قیمت۔

۴۸۰۷ بالکل دائیں تفاعل کی قیمت گھٹتی ہے (یعنی ترسیم نیچے گرتی ہے)۔

۴۸۰۸ اس مشاہدہ سے مقامی انتہائی قیمت کی موجودگی کا پرکھ حاصل ہوتا ہے۔

۴۸۰۹ مسئلہ ۴.۵: **مقامی انتہائی قیمت کا یک رتبی تفرقی پرکھ**

۴۸۱۰ درج ذیل پرکھ استمراری تفاعل $f(x)$ کے لئے ہیں۔

۴۸۱۱ **نقطہ فاصل c پر:**

۴۸۱۲ ۱. اگر c پر f' کی علامت مثبت سے تبدیل ہو کر منفی ہو جائے ($x < c$ پر $f' > 0$ اور $x > c$ پر $f' < 0$) تب c پر f کی
۴۸۱۳ مقامی زیادہ سے زیادہ قیمت ہو گی (شکل ۴.۲۵)۔

۴۸۱۴ ۲. اگر c پر f' کی علامت منفی سے تبدیل ہو کر مثبت ہو جائے ($x < c$ پر $f' < 0$ اور $x > c$ پر $f' > 0$) تب c پر f کی
۴۸۱۵ مقامی کم سے کم قیمت ہو گی (شکل ۴.۲۶)۔

۴۸۱۶ ۳. اگر c پر f' کی علامت تبدیل نہ ہو (c کے دونوں اطراف f' کی علامت ایک سی ہے) تب c پر f کی کوئی انتہائی قیمت نہیں پائی جاتی ہے
۴۸۱۷ (شکل ۴.۲۷)۔

۴۸۱۸ **بائیں آخری نقطہ a پر:**

۴۸۱۹ اگر $x > a$ پر $f' < 0$ ($f' > 0$) ہو تب a پر f کا مقامی زیادہ سے زیادہ (مقامی کم سے کم) نقطہ پایا جائے گا (شکل ۴.۲۸-ا، ب)۔

۴۸۲۰ **دائیں آخری نقطہ b پر:**

۴۸۲۱ اگر $x < b$ پر $f' < 0$ ($f' > 0$) ہو تب b پر f کا مقامی کم سے کم (مقامی زیادہ سے زیادہ) نقطہ پایا جائے گا (شکل ۴.۲۸-ج، د)۔

۴۸۲۲

۴۸۲۳ مثال ۴.۱۱: درج ذیل تفاعل کے نقطہ فاصل تلاش کریں۔

$$f(x) = x^{1/3}(x-4) = x^{4/3} - 4x^{1/3}$$

۴۸۲۴ ان وقفوں کی نشاندہی کریں جس پر f بڑھتا ہے اور جس پر f گھٹتا ہے۔ تفاعل کے مقامی اور مطلق انتہائی قیمتیں تلاش کریں۔



(ب) $f'(c)$ غیر معین (ا) $f'(c) = 0$

شکل ۴.۲۶: پرکھ برائے مقامی کم سے کم قیمت۔

(ب) $f'(c)$ غیر معین (ا) $f'(c) = 0$

شکل ۴.۲۷: پرکھ برائے عدم موجودگی انتہائی قیمت۔

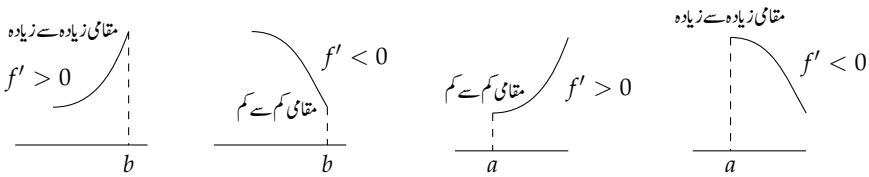

(د) (ج) (ب) (ا)

شکل ۴.۲۸: پرکھ برائے بائیں اور دائیں نقطوں پر نقطہ انتہا۔

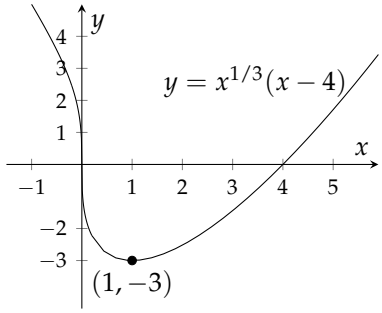

شکل ۴.۲۹: ترسیم برائے مثال ۴.۱۱

علامت $\frac{4}{3x^{2/3}}$	$+$	$+$	$+$
علامت $(x-1)$	$-$	$-$	$+$
$f'(x) =$ علامت $\frac{4}{3x^{2/3}}(x-1)$	$-$	$-$	$+$
		0	1	x
$f(x)$ میں تبدیلی	↘	↘	↗
انتہا کی قسم		انتہا نہیں	مقامی کم سے کم

شکل ۴.۳۰: ترسیم برائے مثال ۴.۱۱

۴۸۲۵ حل: تفاعل تمام حقیقی اعداد کے لئے معین اور استمراری ہے ((شکل ۴.۲۹)۔ یک رتبی تفرق

$$\begin{aligned} f'(x) &= \frac{\mathrm{d}}{\mathrm{d}x}(x^{4/3} - 4x^{1/3}) = \frac{4}{3}x^{1/3} - \frac{4}{3}x^{-2/3} \\ &= \frac{4}{3}x^{-2/3}(x-1) = \frac{4(x-1)}{3x^{2/3}} \end{aligned}$$

۴۸۲۶ ہے جو $x = 1$ پر صفر اور $x = 0$ پر غیر معین ہے۔ f کے دائرہ کار میں کوئی آخری نقطہ نہیں پایا جاتا ہے لہٰذا نقطہ فاصل $x = 0$ اور $x = 1$
۴۸۲۷ وہ نقطے ہیں جہاں تفاعل کے انتہائی قیمتیں ممکن ہیں۔

۴۸۲۸ یہ نقطے فاصل x محور کو ان حصوں میں تقسیم کرتے ہیں جس پر f' مثبت اور یا منفی ہے۔ نقطہ فاصل کے دونوں اطراف f کی علامتوں کو دیکھ کر ہم انتہائی
۴۸۲۹ نقطہ کی نوعیت جان سکتے ہیں۔ وقفہ $(-\infty, 0)$ پر f گھٹتا ہے، وقفہ $(0, 1)$ پر گھٹتا ہے اور وقفہ $(1, \infty)$ پر بڑھتا ہے۔ مسئلہ ۴.۵ کے تحت
۴۸۳۰ $x = 0$ (جہاں f' کی علامت تبدیل نہیں ہوتی) پر کوئی انتہائی نقطہ نہیں پایا جاتا ہے جبکہ $x = 1$ (جہاں f' کی علامت منفی سے مثبت ہوتی ہے) پر
۴۸۳۱ مقامی کم سے کم نقطہ پایا جائے گا (شکل ۴.۳۰)۔

۴۸۳۲ مقامی کم سے کم قیمت $f(1) = 1^{1/3}(1-4) = -3$ ہے جو تفاعل کی مطلق کم سے کم قیمت بھی ہے۔ □

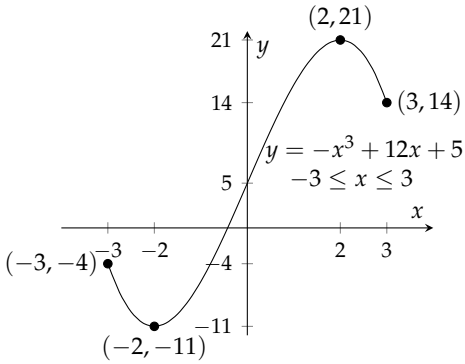

شکل ۴.۳۱: ترسیم برائے مثال ۴.۱۲

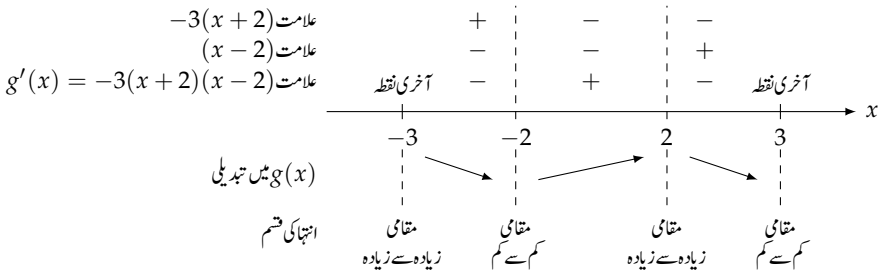

شکل ۴.۳۲: تفرق کی علامتوں سے تفاعل کا رویہ (مثال ۴.۱۲)

۴۸۳۳ مثال ۴.۱۲: درج ذیل کے لئے وہ وقفہ تلاش کریں جہاں f گھٹتا ہو اور جہاں f بڑھتا ہو۔

$$g(x) = -x^3 + 12x + 5, \quad -3 \leq x \leq 3$$

۴۸۳۴ تفاعل کے انتہائی قیمتیں کیا ہیں اور کن نقطوں پر پائی جاتی ہیں؟

۴۸۳۵ حل: تفاعل اپنے دائرہ کار $[-3, 3]$ پر استمراری ہے (شکل ۴.۳۱)۔ اس کا یک رتبی تفرق

$$g'(x) = -3x^2 + 12 = -3(x^2 - 4) = -3(x + 2)(x - 2)$$

۴۸۳۶ وقفہ $[-3, 3]$ کے تمام نقطوں پر معین ہے، اور اس کی قیمت نقطہ $x = -2$ اور $x = 2$ پر صفر ہے۔ نقطے فاصل دائرہ کار کو ان خطوں میں تقسیم
۴۸۳۷ کرتا ہے جن میں g' کی قیمت منفی یا مثبت ہے (شکل ۴.۳۲)۔ ہم g' کی علامتوں کو دیکھ کر مسئلہ ۴.۵ کی مدد سے تفاعل کا تجزیہ کرتے ہیں۔ ہم دیکھتے ہیں کہ
۴۸۳۸ $x = -3$ اور $x = 2$ پر مقامی زیادہ سے زیادہ قیمتیں پائی جاتی ہیں جبکہ $x = -2$ اور $x = 3$ پر مقامی کم سے کم قیمتیں پائی جاتی ہیں۔ ان

۴۸۳۹ نقطوں پر تفاعل $g(x) = -x^3 + 12x + 5$ کی قیمتیں درج ذیل ہیں۔

$$g(-3) = -4, \quad g(2) = 21 \qquad \text{مقامی زیادہ سے زیادہ}$$
$$g(-2) = -11, \quad g(3) = 14 \qquad \text{مقامی کم سے کم}$$

۴۸۴۰ چونکہ بند وقفہ پر تفاعل معین ہے لہٰذا $g(-2)$ مطلق کم سے کم اور $g(2)$ مطلق زیادہ سے زیادہ قیمتیں ہیں۔ □

۴۸۴۱ **سوالات**

۴۸۴۲ **f' کی مدد سے f کا تجزیہ**

۴۸۴۳ سوال ۴.۹۴ تا سوال ۴.۱۰۱ میں تفاعل کا تفرق دیا گیا ہے۔ درج ذیل سوالات کے جوابات دیں۔

۴۸۴۴ ا. f کے نقطہ فاصل کیا ہیں؟

۴۸۴۵ ب. f کس وقفے پر بڑھتا اور کس وقفے پر گھٹتا ہے؟

۴۸۴۶ ج. کن نقطوں پر تفاعل کی مقامی کم سے کم قیمت یا مقامی زیادہ سے زیادہ قیمت پائی جاتی ہے؟

۴۸۴۷ سوال ۴.۹۴: $f'(x) = x(x-1)$

۴۸۴۸ سوال ۴.۹۵: $f'(x) = (x-1)(x+2)$

۴۸۴۹ سوال ۴.۹۶: $f'(x) = (x-1)^2(x+2)$

۴۸۵۰ سوال ۴.۹۷: $f'(x) = (x-1)^2(x+2)^2$

۴۸۵۱ سوال ۴.۹۸: $f'(x) = (x-1)(x+2)(x-3)$

۴۸۵۲ سوال ۴.۹۹: $f'(x) = (x-7)(x+1)(x+5)$

۴۸۵۳ سوال ۴.۱۰۰: $f'(x) = x^{-1/3}(x+2)$

۴۸۵۴ سوال ۴.۱۰۱: $f'(x) = x^{-1/2}(x-3)$

۴۸۵۵ **دیے گئے تفاعل کی انتہا**

۴۸۵۶ سوال ۴.۱۰۲ تا سوال ۴.۱۲۱ میں درج ذیل کریں۔

۴۸۵۷ ا. وہ وقفے تلاش کریں جن پر تفاعل بڑھتا ہو اور وہ جن پر تفاعل گھٹتا ہو۔

۴۸۵۸ ب. تفاعل کے مقامی انتہائی قیمتوں کی نشاندہی کریں اور جن نقطوں پر ایسا ہو ان کی بھی نشاندہی کریں۔

۴۸۵۹ ج. ان میں سے کون سی مطلق انتہائی قیمتیں ہیں (اگر ایسا ہو)؟

۴۸۶۰ سوال ۴.۱۰۲: $g(t) = -t^2 - 3t + 3$

۴۸۶۱ سوال ۴.۱۰۳: $g(t) = -3t^2 + 9t + 5$

۴۸۶۲ سوال ۴.۱۰۴: $h(x) = -x^3 + 2x^2$

۴۸۶۳ سوال ۴.۱۰۵: $h(x) = 2x^3 - 18x$

۴۸۶۴ سوال ۴.۱۰۶: $f(\theta) = 3\theta^2 - 4\theta^3$

۴۸۶۵ سوال ۴.۱۰۷: $f(\theta) = 6\theta - \theta^3$

۴۸۶۶ سوال ۴.۱۰۸: $f(r) = 3r^3 + 16r$

۴۸۶۷ سوال ۴.۱۰۹: $h(r) = (r+7)^3$

۴۸۶۸ سوال ۴.۱۱۰: $f(x) = x^4 - 8x^2 + 16$

۴۸۶۹ سوال ۴.۱۱۱: $g(x) = x^4 - 4x^3 + 4x^2$

۴۸۷۰ سوال ۴.۱۱۲: $H(t) = \frac{3}{2}t^4 - t^6$

۴۸۷۱ سوال ۴.۱۱۳: $K(t) = 15t^3 - t^5$

۴۸۷۲ سوال ۴.۱۱۴: $g(x) = x\sqrt{8 - x^2}$

۴۸۷۳ سوال ۴.۱۱۵: $g(x) = x^2\sqrt{5 - x}$

۴۸۷۴ سوال ۴.۱۱۶: $f(x) = \frac{x^2-3}{x-2}, \quad x \neq 2$

۴۸۷۵ سوال ۴.۱۱۷: $f(x) = \frac{x^3}{3x^2+1}$

۴۸۷۶ سوال ۴.۱۱۸: $f(x) = x^{1/3}(x+8)$

۴۸۷۷ سوال ۴.۱۱۹: $g(x) = x^{2/3}(x+5)$

۴۸۷۸ سوال ۴.۱۲۰: $h(x) = x^{1/3}(x^2-4)$

۴۸۷۹ سوال ۴.۱۲۱: $k(x) = x^{2/3}(x^2-4)$

۴۸۸۰ **نصف کھلے وقفوں پر تفاعل کی انتہا**

۴۸۸۱ سوال ۴.۱۲۲ تا سوال ۴.۱۲۹ میں درج ذیل کریں۔

۴۸۸۲ ا. دیے گئے وقفہ میں تفاعل کے مقامی انتہا تلاش کریں۔ ان نقطوں کی بھی نشاندہی کریں جہاں انتہا پایا جاتا ہو۔

۴۸۸۳ ب. کون سے انتہا مطلق ہیں (اگر ہوں)۔

۴۸۸۴ ج. کمپیوٹر پر تفاعل ترسیم کرتے ہوئے اپنے جوابات کی تصدیق کریں۔

۴۸۸۵ سوال ۴.۱۲۲: $f(x) = 2x - x^2, \quad -\infty < x \leq 2$

۴۸۸۶ سوال ۴.۱۲۳: $f(x) = (x+1)^2, \quad -\infty < x \leq 0$

۴۸۸۷ سوال ۴.۱۲۴: $g(x) = x^2 - 4x + 4, \quad 1 \leq x < \infty$

۴۸۸۸ سوال ۴.۱۲۵: $g(x) = -x^2 - 6x - 9, \quad -4 \leq x < \infty$

۴۸۸۹ سوال ۴.۱۲۶: $f(t) = 12t - t^3, \quad -3 \le t < \infty$

۴۸۹۰ سوال ۴.۱۲۷: $f(t) = t^3 - 3t^2, \quad -\infty < t \le 3$

۴۸۹۱ سوال ۴.۱۲۸: $h(x) = \frac{x^3}{3} - 2x^2 + 4x, \quad 0 \le x < \infty$

۴۸۹۲ سوال ۴.۱۲۹: $k(x) = x^3 + 3x^2 + 3x + 1, \quad -\infty < x \le 0$

۴۸۹۳ **کمپیوٹر کا استعمال**

۴۸۹۴ سوال ۴.۱۳۰ تا سوال ۴.۱۳۳ میں درج ذیل کریں۔

۴۸۹۵ ا. دیے وقفے پر مقامی انتہا تلاش کریں اور اس نقطہ کی نشاندہی کریں جہاں انتہا پایا جاتا ہو۔

۴۸۹۶ ب. تفاعل اور تفاعل کے تفرق کو ایک ساتھ ترسیم کریں۔ کی قیمتوں اور علامتوں کے لحاظ سے f پر تبصرہ کریں۔

۴۸۹۷ سوال ۴.۱۳۰: $f(x) = \frac{x}{2} - 2\sin\frac{x}{2}, \quad 0 \le x \le 2\pi$

۴۸۹۸ سوال ۴.۱۳۱: $f(x) = -2\cos x - \cos^2 x, \quad -\pi \le x \le \pi$

۴۸۹۹ سوال ۴.۱۳۲: $f(x) = \csc^2 x - 2\cot x, \quad 0 < x < \pi$

۴۹۰۰ سوال ۴.۱۳۳: $f(x) = \sec^2 x - 2\tan x, \quad -\frac{\pi}{2} < x < \frac{\pi}{2}$

۴۹۰۱ **نظریہ اور مثالیں**

۴۹۰۲ دکھائیں کہ سوال ۴.۱۳۴ اور سوال ۴.۱۳۵ میں دیے گئے θ پر مقامی انتہا پائی جاتی ہے۔ اس انتہا کی قسم دریافت کریں۔

۴۹۰۳ سوال ۴.۱۳۴: $h(\theta) = 3\cos\frac{\theta}{2}, \quad 0 \le \theta \le 2\pi, \quad \theta = 0, 2\pi$

۴۹۰۴ سوال ۴.۱۳۵: $h(\theta) = 5\sin\frac{\theta}{2}, \quad 0 \le \theta \le \pi, \quad \theta = 0, \pi$

۴۹۰۵ سوال ۴.۱۳۶: قابل تفرق تفاعل $y = f(x)$ نقطہ $(1,1)$ سے گزرتا ہے اور $f'(1) = 0$ ہے۔ درج ذیل پر پورا اترتا ہوا اس تفاعل کا
۴۹۰۶ خاکہ کھینچیں۔

۴۹۰۷ ا. $x < 1$ کے لئے $f'(x) > 0$ ہے اور $x > 1$ کے لئے $f'(x) < 0$ ہے۔

۴۹۰۸ ب. $x < 1$ کے لئے $f'(x) < 0$ ہے اور $x > 1$ کے لئے $f'(x) > 0$ ہے۔

۴۹۰۹ ج. $x \ne 1$ کے لئے $f'(x) > 0$ ہے۔

۴۹۱۰ د. $x \ne 1$ کے لئے $f'(x) < 0$ ہے

۴۹۱۱ سوال ۴.۱۳۷: قابل تفرق تفاعل $y = f(x)$ جو درج ذیل پر پورا اترتا ہے کا خاکہ بنائیں۔

۴۹۱۲ ا. $(1,1)$ پر مقامی کم سے کم اور $(3,3)$ پر مقامی زیادہ سے زیادہ قیمت ہے۔

۴۹۱۳ ب. $(1,1)$ پر مقامی زیادہ سے زیادہ اور $(3,3)$ پر مقامی کم سے کم قیمت ہے۔

۴۹۱۴ ج. $(1,1)$ اور $(3,3)$ پر مقامی زیادہ سے زیادہ قیمت ہے۔

۴۹۱۵ د. $(1,1)$ اور $(3,3)$ پر مقامی کم سے کم قیمت ہے۔

سوال ۴.۱۳۸: درج ذیل استمراری تفاعل $y = g(x)$ کا خاکہ بنائیں۔

ا. $g(2) = 2$ ہے، $x < 2$ کے لئے $0 < g' < 1$ ہے، $x \to 2^-$ کے لئے $g'(x) \to 1^-$، $x > 2$ کے لئے $-1 < g' < 0$ اور $x \to 2^+$ کے لئے $g'(x) \to -1^+$ ہے۔

ب. $g(2) = 2$ ہے، $x < 2$ کے لئے $g' < 0$، $x \to 2^-$ کے لئے $g' \to -\infty$، $x > 2$ کے لئے $g' > 0$ اور $x \to 2^+$ کے لئے $g'(x) \to \infty$ ہے۔

سوال ۴.۱۳۹: درج ذیل استمراری تفاعل $y = h(x)$ کا خاکہ بنائیں۔

ا. $h(0) = 0$ ہے، تمام x کے لئے $-2 \le h(x) \le 2$، $x \to 0^-$ کے لئے $h'(x) \to \infty$، اور $x \to 0^+$ کے لئے $h'(x) \to -\infty$ ہے۔

ب. $h(0) = 0$ ہے، تمام x کے لئے $-2 \le h(x) \le 0$، $x \to 0^-$ کے لئے $h'(x) \to \infty$، اور $x \to 0^+$ کے لئے $h'(x) \to -\infty$ ہے۔

سوال ۴.۱۴۰: جب x بائیں سے دائیں جانب نقطہ $c = 2$ سے گزرے تب $f(x) = x^3 - 3x + 2$ کی ترسیم اوپر اٹھتی ہے یا نیچے گرتی ہے؟ اپنے جواب کی وجہ پیش کریں۔

سوال ۴.۱۴۱: وہ وقفے تلاش کریں جن پر تفاعل $f(x) = ax^2 + bx + c$، جہاں $a \neq 0$ ہے، بڑھتا ہے اور گھٹتا ہے۔ اپنے جواب کی وجہ پیش کریں۔

۴.۴ y' اور y'' کے ساتھ ترسیم

ہم نے حصہ ۴.۱ میں تفاعل کی انتہائی قیمتوں کی تلاش میں یک رتبی تفرق کا کردار دیکھا۔ تفاعل کے انتہائی نقطے صرف نقطہ فاصل اور تفاعل کے دائرہ کار کے آخری نقطوں پر پائے جاتے ہیں۔ ہم نے یہ بھی دیکھا کہ نقطہ فاصل پر نقطہ انتہا کی موجودگی لازمی نہیں ہے۔ ہم نے حصہ ۴.۲ میں یہ بھی دیکھا کہ قابل تفرق تفاعل کی تقریباً تمام معلومات اس کی تفرق میں سمیٹی گئی ہے۔ مکمل تفاعل کے حصول کے لئے ہمیں صرف کسی ایک نقطہ پر تفاعل کی قیمت درکار ہوتی ہے۔ اگر تفاعل کا تفرق $2x$ ہے اور تفاعل مبدا سے گزرتا ہو تب تفاعل لازماً x^2 ہو گا۔ اگر تفاعل کا تفرق $2x$ ہو اور تفاعل نقطہ $(0, 4)$ سے گزرتا ہو تب تفاعل لازماً $x^2 + 4$ ہو گا۔

ہم نے حصہ ۴.۳ میں نقطہ فاصل پر تفاعل کے رویہ جانتے ہوئے اس کی تفرق سے مزید معلومات حاصل کرنا سیکھا جس کے بعد ہم یہ جان سکے کہ آیا نقطہ فاصل پر حقیقتاً انتہا موجود ہے یا تفاعل مسلسل گھٹتا یا مسلسل بڑھتا جاتا ہے۔ موجودہ حصہ میں ہم جانتے ہیں کہ تفاعل $y = f(x)$ کی ترسیم کس طرح مڑتی یا واپس پلٹتی ہے۔ ہم جانتے ہیں کہ یہ معلومات y' کے اندر ضرور پائی جائے گی۔ دو مرتبہ قابل تفرق تفاعل کی صورت میں y' اور اس کا تفرق y'' مل کر تفاعل کی ترسیم کی صورت کے بارے میں معلومات فراہم کرتے ہیں۔ باب ۵ میں انہیں استعمال کرتے ہوئے تفرقی مساوات اور ابتدائی قیمت مسائل کے حل کو ترسیم کرنا سکھایا جائے گا۔

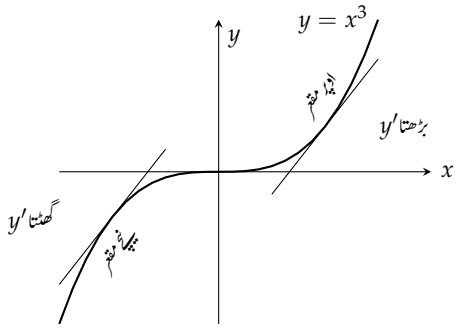

شکل ۴.۳۳: $(-\infty, 0)$ پر منحنی دائیں جھکتی ہے جبکہ $(0, \infty)$ پر مبدا بائیں مڑتی ہے۔

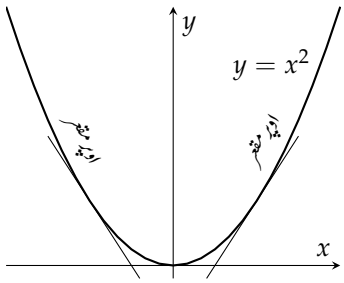

شکل ۴.۳۴: ترسیم برائے مثال ۴.۱۳

مقعر

x بڑھنے سے تفاعل $y = x^3$ کی ترسیم اوپر اٹھتا ہے لیکن $(-\infty, 0)$ اور $(0, \infty)$ پر اس کے حصے مختلف طریقہ سے مڑتے ہیں (شکل ۴.۳۳)۔ اگر ہم منحنی پر بائیں سے مبدا کی طرف گامزن ہوں تب منحنی ہماری دائیں ہاتھ کی طرف جھکتی ہے اور اپنے مماس سے نیچے رہتی ہے۔ اس کے برعکس اگر ہم منحنی پر دائیں جانب مبدا سے دور چلیں تب منحنی ہماری بائیں ہاتھ جھکتی ہے اور اپنے مماس کے بالائی طرف رہتی ہے۔

اس کو یوں بھی بیان کیا جا سکتا ہے کہ ربع سوم میں بائیں سے مبدا کی طرف چلتے ہوئے مماس کا ڈھلوان گھٹتا ہے جبکہ ربع اول میں مبدا سے دائیں جانب چلتے ہوئے مماس کا ڈھلوان بڑھتا ہے۔

تعریف: قابل تفرق تفاعل $y = f(x)$ کی ترسیم اس وقفہ پر **اوپر مقعر**[۱] ہو گی جہاں y' بڑھتا ہو اور اس وقفہ پر **نیچے مقعر**[۲] ہو گی جہاں y' گھٹتا ہو۔

□

اگر $y = f(x)$ کا دورتبی تفرق موجود ہو تب ہم مسئلہ اوسط قیمت کا ضمنی نتیجہ ۴.۳ استعمال کرتے ہوئے اخذ کر سکتے ہیں کہ $y'' > 0$ کی صورت میں y' کی قیمت بڑھے گی اور $y'' < 0$ کی صورت میں y' کی قیمت گھٹے گی۔

مقعر کا دورتبی تفرق پرکھ

فرض کریں وقفہ I پر $y = f(x)$ دو مرتبہ قابل تفرق ہے۔

ا. اگر I پر $y'' > 0$ ہو تب I پر f کی ترسیم اوپر مقعر ہو گی۔

ب. اگر I پر $y'' < 0$ ہو تب I پر f کی ترسیم نیچے مقعر ہو گی۔

---

[۱] concaveup
[۲] concavedown

مثال ۴.۱۳:

ا. $(-\infty, 0)$ پر تفاعل $y = x^3$ کا دور تبی تفرق $y'' = 6x < 0$ ہے لہٰذا اس کی ترسیم نیچے مقعر ہو گی جبکہ $(0, \infty)$ پر $y'' = 6x > 0$ ہے لہٰذا یہاں ترسیم اوپر مقعر ہو گی (شکل ۴.۳۳)۔

ب. چونکہ قطع مکافی $y = x^2$ کا دور تبی تفرق $y'' = 2 > 0$ ہے لہٰذا یہ ہر جگہ اوپر مقعر ہو گا (شکل ۴.۳۴)۔

□

نقطہ تصریف

ایک لکیر پر جسم کی حرکت کا مطالعہ کرنے کی خاطر ہم اس کا مقام بالمقابل وقت ترسیم کرتے ہیں۔ ایسا کرنے سے ہم وہ لمحہ تلاش کر سکتے ہیں جہاں جسم کی اسراع، جو دور تبی تفرق ہے، کی علامت تبدیل ہوتی ہے۔ ترسیم پر یہ وہ نقطہ ہو گا جہاں مقعر تبدیل ہوتا ہے۔

تعریف: وہ نقطہ جہاں تفاعل کا مماس پایا جاتا ہو اور جہاں مقعر کی علامت تبدیل ہوتی ہو **نقطہ تصریف**[۱۲] کہلاتا ہے۔

□

یوں نقطہ تصریف کی ایک طرف y'' مثبت اور دوسری طرف منفی ہو گا۔ عین نقطہ تصریف پر y'' کی قیمت یا (تفرق کی متوسط قیمت خاصیت کی بنا) صفر ہو گی اور یا y'' غیر معین ہو گا۔

دو مرتبہ قابل تفرق تفاعل کی ترسیم کے نقطہ تصریف پر $y'' = 0$ ہو گا۔

مثال ۴.۱۴: سادہ ہارمونی حرکت

تفاعل $y = 2\cos t$ کی ترسیم نقطہ $t = \pi/2, 3\pi/2, \cdots$ پر مقعر کی علامت تبدیل ہوتی ہے جہاں اسراع $s'' = -\cos t$ صفر ہے (شکل ۴.۳۵)۔ □

مثال ۴.۱۵: نقطہ تصریف کا معاشیات میں بھی اہمیت ہے۔ فرض کریں کہ کسی چیز کی x اکائیاں پیدا کرنے پر $y = c(x)$ لاگت آتی ہے۔ جہاں حاشیہ لاگت پیداوار گھٹنے سے بڑھنا شروع ہوتی ہے یہ نقطہ تصریف N ہو گا (شکل ۴.۳۶)۔ □

مثال ۴.۱۶: ایسا نقطہ تصریف جہاں y'' غیر موجود ہے۔

تفاعل $y = x^{1/3}$ کا نقطہ تصریف $x = 0$ پر ہے لیکن یہاں y'' غیر معین (لامتناہی) ہے (شکل ۴.۳۷)۔

$$y'' = \frac{\mathrm{d}^2}{\mathrm{d}x^2}(x^{1/3}) = \frac{\mathrm{d}}{\mathrm{d}x}(\tfrac{1}{3}x^{-2/3}) = -\frac{2}{9}x^{-5/3} = -\frac{2}{9x^{5/3}}$$

□

---

[۱۲] inflectionpoint

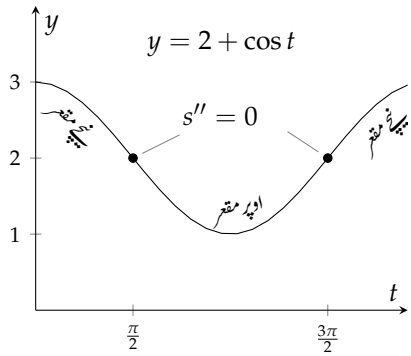

شکل ۴.۳۵: ترسیم برائے مثال ۴.۱۴

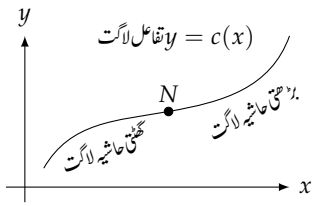

شکل ۴.۳۶: ترسیم برائے مثال ۴.۱۵

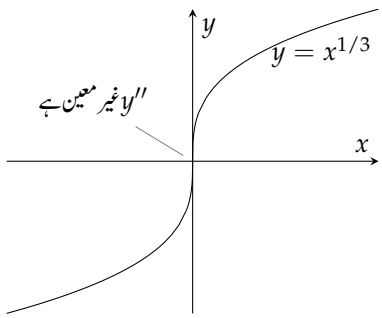

شکل ۴.۳۷: نقطہ تصریف پر y'' غیر معین ہے (مثال ۴.۱۶)

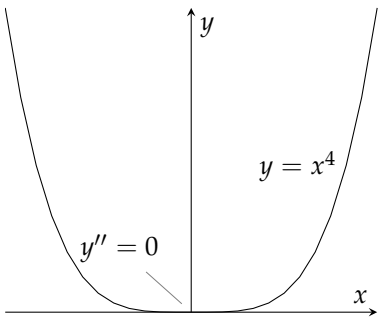

شکل ۴.۳۸: اگرچہ مبدا پر $y'' = 0$ ہے یہاں نقطہ تصریف نہیں پایا جاتا ہے (مثال ۴.۱۷)

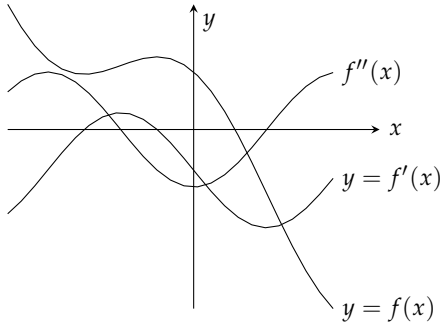

شکل ۴.۳۹: تفاعل $y = f(x) = 2\cos x - \sqrt{2}x$ اور اس کے یک رتبی اور دو رتبی تفرق۔



شکل ۴.۴۰: دو رتبی تفرقی پرکھ برائے مقامی انتہا

مثال ۴.۱۷: $y'' = 0$ ہے لیکن نقطہ تصریف نہیں ہے

تفاعل $y = x^4$ کا $x = 0$ پر $y'' = 12x^2 = 0$ پایا جاتا ہے لیکن یہاں y'' کی علامت تبدیل نہیں ہوتی لہٰذا یہاں نقطہ تصریف نہیں پایا جاتا ہے۔ □

فنیات تفاعل اور تفاعل کے تفرق کی ترسیم

کبھی کبھار تفاعل کی ترسیم سے نقطہ تصریف کی نشاندہی کرنا مشکل ہوتا ہے۔ $f(x) = 2\cos x - \sqrt{2}x$ کی $-4 \leq x \leq 3$ پر ترسیم کرتے ہوئے کوشش کر کے دیکھیں۔ اس کے ساتھ f' کی ترسیم شامل کرنے سے نقطہ تصریف کی پہچان میں کچھ بہتری آتی ہے۔ f کے ساتھ f'' ترسیم کرنے سے نقطہ تصریف پہچانے کا بہترین ثبوت ملتا ہے (شکل ۴.۳۹)۔ نقطہ تصریف پر f'' کی علامت تبدیل ہوتی ہے یعنی f'' محور x کو قطع کرتا ہے۔ f ، f' اور f'' تینوں کو ایک ساتھ ترسیم کرنا دلچسپ مشغلہ ہے۔

مقامی انتہائی قیمت کا دو رتبی تفرقی پرکھ

مقامی انتہا کا مقام تعین کرنے کی خاطر y' کی علامت کی تبدیلی کے بجائے درج ذیل پرکھ استعمال کیا جا سکتا ہے۔

مقامی انتہا کا دو رتبی تفرقی پرکھ

- اگر $f'(c) = 0$ اور $f''(c) < 0$ ہوں تب $x = c$ پر مقامی زیادہ سے زیادہ قیمت پائی جائے گی (شکل ۴.۴۰)۔
- اگر $f'(c) = 0$ اور $f''(c) > 0$ ہوں تب $x = c$ پر مقامی کم سے کم قیمت پائی جائے گی (شکل ۴.۴۰)۔

مذکورہ بالا پرکھ میں ہمیں صرف $x = c$ پر y'' درکار ہے نا کہ c پر کسی وقفہ پر۔ یوں پرکھ کا استعمال نہایت آسان ہے۔ $y'' = 0$ یا غیر معین y'' کی صورت میں پرکھ ہمیں مدد نہیں کر پاتا ہے۔ ایسی صورت میں ہمیں یک رتبی تفرق پرکھ استعمال کرنی ہو گی۔

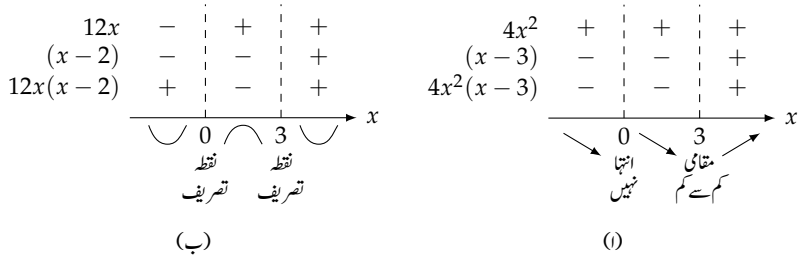

شکل ۴.۴۱: اشکال برائے مثال ۴.۱۸

۴۹۹۵ y' اور y'' کی ترسیم ایک ساتھ

۴۹۹۶ ہم نے اب تک جو کچھ سیکھا ہے اس کو استعمال کرتے ہوئے تفاعل ترسیم کرتے ہیں۔

۴۹۹۷ مثال ۴.۱۸: قلم و کاغذ سے تفاعل کی ترسیم

۴۹۹۸ تفاعل $y = x^4 - 4x^3 + 10$ ترسیم کریں۔

۴۹۹۹ حل: **پہلا قدم**: ہم y' اور y'' ڈھونڈتے ہیں۔

$$y = x^4 - 4x^3 + 10$$

$$y' = 4x^3 - 12x^2 = 4x^2(x-3)$$ نقطہ فاصل $x = 0$ اور $x = 3$ ہیں

$$y'' = 12x^2 - 24x = 12x(x-2)$$ ممکنہ نقطہ تصریف $x = 0$ اور $x = 2$ ہیں

۵۰۰۰ **دوسرا قدم**: اتار اور چڑھاو دیکھنے کے لئے y' کی علامتوں کو دیکھ کر y کا رویہ جانتے ہیں۔ $y' = 4x^2(x-3)$ میں $x = 0$ سے معمولی

۵۰۰۱ کم قیمت پر کرنے سے y' کی علامت منفی حاصل ہوتی ہے۔ اسی طرح اس سے معمولی زیادہ قیمت پر کرنے سے بھی منفی علامت حاصل ہوتی ہے۔ یوں نقطہ

۵۰۰۲ $x = 0$ پر y' کی علامت تبدیل نہیں ہوتی ہے لہٰذا یہاں کوئی مقامی انتہا نہیں پایا جاتا ہے۔ $y' = 4x^2(x-3)$ میں $x = 3$ سے معمولی کم

۵۰۰۳ قیمت پر کرنے سے y' کی منفی علامت جبکہ اس سے معمولی زیادہ قیمت پر کرنے سے مثبت علامت حاصل ہوتی ہے۔ یوں $x = 3$ پر y' کی علامت منفی

۵۰۰۴ سے تبدیل ہو کر مثبت ہوتی ہے۔ یوں $x = 3$ پر مقامی کم سے کم قیمت پائی جاتی ہے (شکل ۴.۴۱-ا)۔

۵۰۰۵

۵۰۰۶ **تیسرا قدم**: نقطہ $x = 0$ اور $x = 2$ دونوں پر y'' کی علامت تبدیل ہوتی ہے لہٰذا یہ دونوں نقطہ تصریف ہیں (شکل ۴.۴۱-ب)۔

۵۰۰۷ **چوتھا قدم**: دوسرے اور تیسرے قدم کی معلومات استعمال کرتے ہوئے ہر وقفہ پر تفاعل کا عمومی خاکہ کھینچیں۔ ان خاکوں کو اکٹھا کرتے ہوئے مکمل ترسیم کھینچیں

۵۰۰۸ (شکل ۴.۴۲-ا)۔

۵۰۰۹ **پانچواں قدم**: (اگر موزوں ہو تب) ترسیم پر وہ نقطے ظاہر کریں جہاں یہ x اور y محور کو قطع کرتی ہے۔ اسی طرح وہ نقطے جہاں y' اور y'' صفر ہیں کی

۵۰۱۰ نشاندہی کریں۔ مقامی انتہائی نقطے اور نقطہ تصریف کی نشاندہی کریں۔ چوتھے قدم کی معلومات استعمال کرتے ہوئے مکمل ترسیم کھینچیں (شکل ۴.۴۲-ب)۔ □

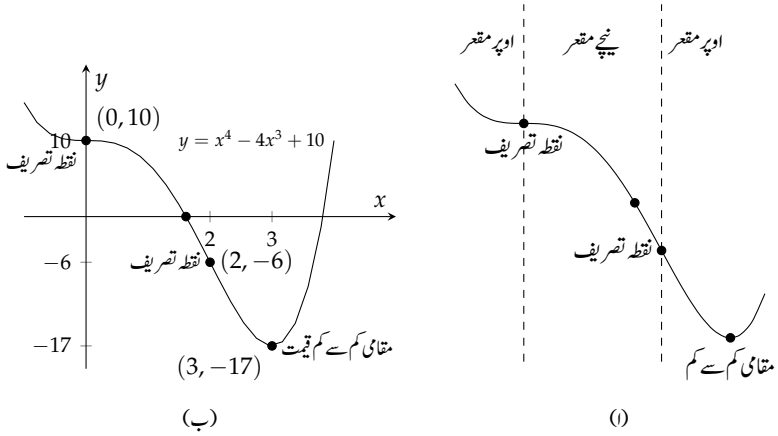

شکل ۴.۴۲: اشکال برائے مثال ۴.۱۸

$y = f(x)$ ترسیم کرنے کا لائحہ عمل

۱. y' اور y'' حاصل کریں۔

۲. منحنی کی اتار اور چڑھاو تعین کریں۔

۳. منحنی کی مقعر کا تعین کریں۔

۴. اجمال کرتے ہوئے مختلف خطوں میں ترسیم کا عمومی خاکہ بنائیں۔

۵. ان اشکال کو ملا کر تفاعل ترسیم کریں۔

مثال ۴.۱۹: تفاعل $y = x^{5/3} - 5x^{2/3}$ ترسیم کریں۔

حل: **پہلا قدم:** y' اور y'' حاصل کرتے ہیں۔

$$y = x^{5/3} - 5x^{2/3} = x^{2/3}(x-5) \qquad \text{قاطع محدد } x = 0 \text{ اور } x = 5$$

$$y' = \frac{5}{3}x^{2/3} - \frac{10}{3}x^{-1/3} = \frac{5}{3}x^{-1/3}(x-2) \qquad \text{نقطہ فاصل } x = 0 \text{ اور } x = 2$$

$$y'' = \frac{10}{9}x^{-1/3} + \frac{10}{9}x^{-4/3} = \frac{10}{9}x^{-4/3}(x+1) \qquad \text{ممکنہ نقطہ تصریف } x = 0 \text{ اور } x = -1$$

دوسرا قدم: اتار اور چڑھاو۔ (شکل ۴.۴۳)

تیسرا قدم: مقعر (شکل ۴.۴۴)

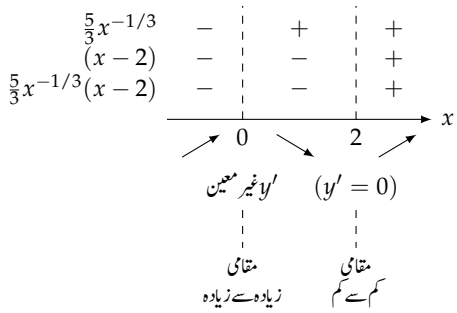

شکل ۴.۴۳: اتار اور چڑھاو (مثال ۴.۱۹)

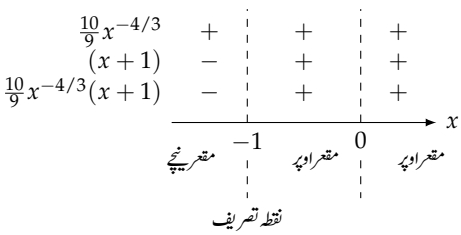

شکل ۴.۴۴: مقعر (مثال ۴.۱۹)

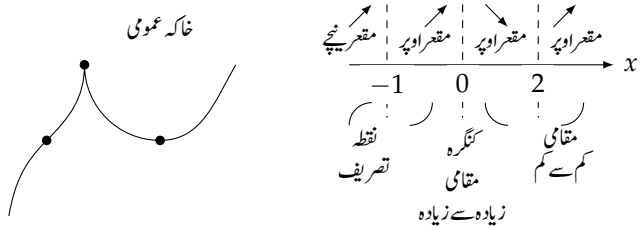

شکل ۴.۴۵: اجمال اور خاکے (مثال ۴.۱۹)

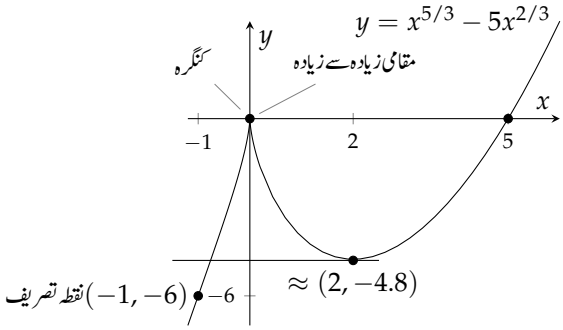

شکل ۴.۴۶: تفاعل $y = x^{5/3} - 5x^{2/3}$ کی ترسیم (مثال ۴.۱۹)۔

۵۰۲۲ y'' کی علامت کی نقش سے ہم دیکھتے ہیں کہ $x = -1$ پر نقطہ تصریف پایا جاتا ہے لیکن $x = 0$ پر نہیں پایا جاتا ہے۔ البتہ یہ جانتے ہوئے کہ

۵۰۲۳ ۱. تفاعل $y = x^{5/3} - 5x^{2/3}$ استمراری ہے۔

۵۰۲۴ ۲. $x \to 0^-$ کرنے سے $y' \to \infty$ اور $x \to 0^+$ کرنے سے $y' \to -\infty$ ہوتا ہے (دوسرے قدم میں y' کا کلیہ دیکھیں)۔

۵۰۲۵ ۳. $x = 3$ پر مقعر تبدیل نہ ہونے (تیسرا قدم) سے ہم کہہ سکتے ہیں کہ $x = 0$ پر کنگرہ پایا جاتا ہے۔

۵۰۲۶ **چوتھا قدم:** اجمال (شکل ۴.۴۵)

۵۰۲۷ **پانچواں قدم:** مخصوص نقطے اور ترسیم (شکل ۴.۴۶) □

۵۰۲۸ **کنگرہ**

۵۰۲۹ تفاعل $y = f(x)$ کا $x = c$ پر اس صورت کنگرہ پایا جاتا ہے جب x کے دونوں اطراف تفاعل کا مقعر ایک سا ہو اور یا (ا)

۵۰۳۰ $\lim_{x\to c^-} f'(x) = \infty$ اور $\lim_{x\to c^+} f(x) = -\infty$ ہوں (شکل ۴.۴۷-ا)، اور یا (ب) $\lim_{x\to c^-} f'(x) = -\infty$ اور $\lim_{x\to c^+} f(x) = \infty$ ہوں (شکل ۴.۴۷-ب)۔

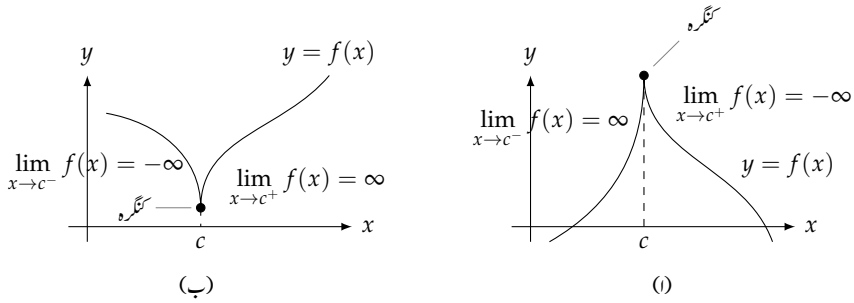

شکل ۴.۴۷: کنگرہ، مقامی زیادہ سے زیادہ یا مقامی کم سے کم نقطہ ہو سکتا ہے۔

۵.۳۲ تفرق سے تفاعل کی معلومات کا حصول

۵.۳۳ آپ نے مثال ۴.۱۸ اور مثال ۴.۱۹ میں دیکھا کہ y' کو دیکھ کر قابل تفرق تفاعل $y = f(x)$ کی تقریباً تمام اہم معلومات دریافت کی جا سکتی ہیں۔ ہم
۵.۳۴ ترسیم کی اتار اور چڑھاو، اور مقامی انتہا جان سکتے ہیں۔ ہم y' کا تفرق لے کر اتار اور چڑھاو کے وقفوں میں تفاعل کی مقعر دریافت کر سکتے ہیں۔ ہم تفاعل کی
۵.۳۵ ترسیم کی عمومی شکل جان سکتے ہیں۔ ہم صرف xy مستوی میں ترسیم کا مقام نہیں جان سکے ہیں۔ یہ معلومات مختلف x پر تفاعل کی مساوات کو حل کرتے
۵.۳۶ ہوئے حاصل کیے جا سکتے ہیں۔ حقیقت میں جیسا ہم نے حصہ ۴.۲ میں دیکھا، y' کے علاوہ ہمیں f کی قیمت صرف ایک نقطہ پر چاہیے۔

۵.۳۷ شکل ۴.۴۸ میں تفرق اور ترسیم کے تعلق دکھائے گئے ہیں۔

۵.۳۸ سوالات

۵.۳۹ ترسیم شدہ تفاعل کا تجزیہ

۵.۴۰ سوال ۴.۱۴۲ تا سوال ۴.۱۴۹ میں دیے ترسیم کی نقطہ تصریف، مقامی کم سے کم اور مقامی زیادہ سے زیادہ نقطہ کی نشاندہی کریں۔ ان وقفوں کہ نشاندہی کریں جن
۵.۴۱ پر ترسیم اوپر مقعر اور جن پر نیچے مقعر ہے۔

۵.۴۲ سوال ۴.۱۴۲: $y = \frac{x^3}{3} - \frac{x^2}{2} - 2x + \frac{1}{3}$ ، شکل ۴.۴۹-ا

۵.۴۳ سوال ۴.۱۴۳: $y = \frac{x^4}{4} - 2x^2 + 4$ ، شکل ۴.۴۹-ب

۵.۴۴ سوال ۴.۱۴۴: $y = \frac{3}{4}(x^2 - 1)^{2/3}$ ، شکل ۴.۴۹-ج

۵.۴۵ سوال ۴.۱۴۵: $y = \frac{9}{14}x^{1/3}(x^2 - 7)$ ، شکل ۴.۴۹-د

۵.۴۶ سوال ۴.۱۴۶: $y = x + \sin 2x,\ -\frac{2\pi}{3} \le x \le \frac{2\pi}{3}$ ، شکل ۴.۵۰-ا

۵.۴۷ سوال ۴.۱۴۷: $y = \tan x - 4x,\ -\frac{\pi}{2} < x < \frac{\pi}{2}$ ، شکل ۴.۵۰-ب

۵.۴۸ سوال ۴.۱۴۸: $y = \sin|x|\ ,\ -2\pi \le x \le 2\pi$ ، شکل ۴.۵۰-ج

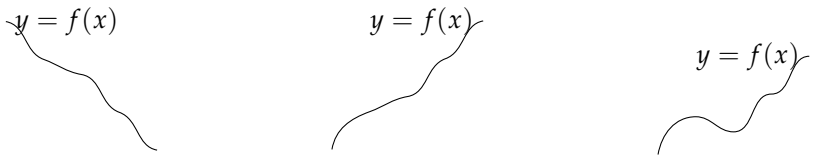

(ا) قابل تفرق: ہموار اور جڑی۔ اتر، چڑھاو پایا جا سکتا ہے۔

(ب) $y' > 0$: بائیں سے دائیں چلتے ہوئے اوپر اٹھتی ہے۔ لہر پائے جا سکتے ہیں۔

(ج) $y' < 0$: بائیں سے دائیں چلتے ہوئے نیچے اترتی ہے۔ لہر پائے جا سکتے ہیں۔

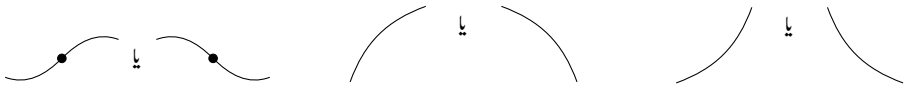

(د) $y'' > 0$: اوپر مقعر۔ لہر نہیں پایا جاتا۔ اوپر اٹھ سکتی ہے یا نیچے اتر سکتی ہے۔

(ھ) $y'' < 0$: نیچے مقعر۔ لہر نہیں پایا جاتا۔ اوپر اٹھ سکتی ہے یا نیچے اتر سکتی ہے۔

(و) y'' کی علامت تبدیل ہوتی ہے: نقطہ تصریف (اگر f دو مرتبہ قابل تفرق ہو)۔

(ز) y' کی علامت تبدیل ہوتی ہے: مقامی زیادہ سے زیادہ یا مقامی کم سے کم قیمت۔

(ح) $y' = 0, y'' < 0$: مقامی زیادہ سے زیادہ قیمت۔

(ط) $y' = 0, y'' > 0$: مقامی کم سے کم قیمت۔

شکل ۴.۴۸: ترسیم کے بارے میں تفرق کیا بتلاتا ہے۔

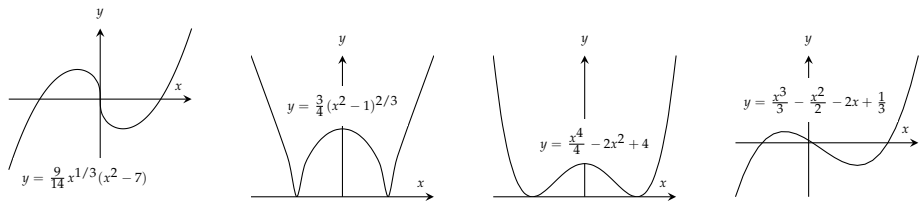

(ا) (ب) (ج) (د)

شکل ۴.۴۹: ترسیمات برائے سوال ۴.۱۴۲ تا سوال ۴.۱۴۵

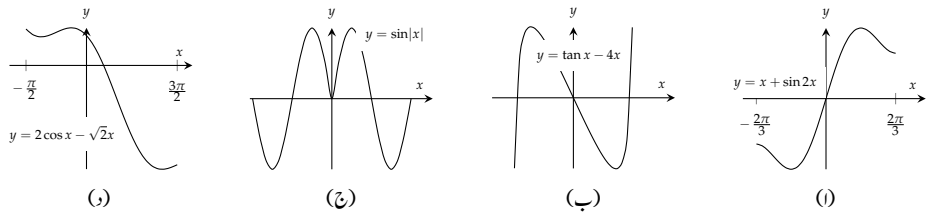

شکل ۴.۵۰: ترسیمات برائے سوال ۴.۱۴۶ تا سوال ۴.۱۴۹

سوال ۴.۱۴۹: $y = 2\cos x - \sqrt{2}x,\ -\pi \le x \le \frac{3\pi}{2}$ ، شکل ۴.۵۰-د

مساوات کی ترسیم

صفحہ ۳۱۴ پر دیا گیا لائحہ عمل استعمال کرتے ہوئے سوال ۴.۱۵۰ تا سوال ۴.۱۸۱ میں دیا گیا مساوات ترسیم کریں۔ مقامی انتہا اور نقطہ تصریف کی نشاندہی کریں۔

سوال ۴.۱۵۰: $y = x^2 - 4x + 3$

سوال ۴.۱۵۱: $y = 6 - 2x - x^2$

سوال ۴.۱۵۲: $y = x^3 - 3x + 3$

سوال ۴.۱۵۳: $y = x(6 - 2x)^2$

سوال ۴.۱۵۴: $y = -2x^3 + 6x^2 - 3$

سوال ۴.۱۵۵: $y = 1 - 9x - 6x^2 - x^3$

سوال ۴.۱۵۶: $y = (x - 2)^3 + 1$

سوال ۴.۱۵۷: $y = 1 - (x + 1)^3$

سوال ۴.۱۵۸: $y = x^4 - 2x^2 = x^2(x^2 - 2)$

سوال ۴.۱۵۹: $y = -x^4 + 6x^2 - 4 = x^2(6 - x^2) - 4$

سوال ۴.۱۶۰: $y = 4x^3 - x^4 = x^3(4 - x)$

سوال ۴.۱۶۱: $y = x^4 + 2x^3 = x^3(x + 2)$

سوال ۴.۱۶۲: $y = x^5 - 5x^4 = x^4(x - 5)$

سوال ۴.۱۶۳: $y = x(\frac{x}{2} - 5)^4$

سوال ۴.۱۶۴: $y = x + \sin x,\ 0 \le x \le 2\pi$

سوال ۴.۱۶۵: $y = x - \sin x,\ 0 \le x \le 2\pi$

۵۰۶۹ سوال ۴.۱۶۶: $y = x^{1/5}$

۵۰۷۰ سوال ۴.۱۶۷: $y = x^{3/5}$

۵۰۷۱ سوال ۴.۱۶۸: $y = x^{2/5}$

۵۰۷۲ سوال ۴.۱۶۹: $y = x^{4/5}$

۵۰۷۳ سوال ۴.۱۷۰: $y = 2x - 3x^{2/3}$

۵۰۷۴ سوال ۴.۱۷۱: $y = 5x^{2/5} - 2x$

۵۰۷۵ سوال ۴.۱۷۲: $y = x^{2/3}(\frac{5}{2} - x)$

۵۰۷۶ سوال ۴.۱۷۳: $y = x^{2/3}(x - 5)$

۵۰۷۷ سوال ۴.۱۷۴: $y = x\sqrt{8 - x^2}$

۵۰۷۸ سوال ۴.۱۷۵: $y = (2 - x^2)^{3/2}$

۵۰۷۹ سوال ۴.۱۷۶: $y = \frac{x^2-3}{x-2},\ x \neq 2$

۵۰۸۰ سوال ۴.۱۷۷: $y = \frac{x^3}{3x^2+1}$

۵۰۸۱ سوال ۴.۱۷۸: $y = \left|x^2 - 1\right|$

۵۰۸۲ سوال ۴.۱۷۹: $y = \left|x^2 - 2x\right|$

۵۰۸۳ سوال ۴.۱۸۰: $y = \sqrt{|x|} = \begin{cases} \sqrt{-x}, & x \leq 0 \\ \sqrt{x}, & x > 0 \end{cases}$

۵۰۸۴ سوال ۴.۱۸۱: $y = \sqrt{|x - 4|}$

۵۰۸۵

۵۰۸۶ **y' سے تفاعل کی عمومی صورت کا خاکہ**

۵۰۸۷ سوال ۴.۱۸۲ تا سوال ۴.۲۰۳ میں استمراری تفاعل $y = f(x)$ کا تفرق y' دیا گیا ہے۔ y'' تلاش کرتے ہوئے صفحہ ۳۱۴ پر دیا گیا لائحہ عمل استعمال

۵۰۸۸ کرتے ہوئے تفاعل کی عمومی صورت کا خاکہ بنائیں۔

۵۰۸۹ سوال ۴.۱۸۲: $y' = 2 + x - x^2$

۵۰۹۰ سوال ۴.۱۸۳: $y' = x^2 - x - 6$

۵۰۹۱ سوال ۴.۱۸۴: $y' = x(x - 3)^2$

۵۰۹۲ سوال ۴.۱۸۵: $y' = x^2(2 - x)$

۵۰۹۳ سوال ۴.۱۸۶: $y' = x(x^2 - 12)$

۵۰۹۴ سوال ۴.۱۸۷: $y' = (x-1)^2(2x+3)$

۵۰۹۵ سوال ۴.۱۸۸: $y' = (8x-5x^2)(4-x)^2$

۵۰۹۶ سوال ۴.۱۸۹: $y' = (x^2-2x)(x-5)^2$

۵۰۹۷ سوال ۴.۱۹۰: $y' = \sec^2 x,\ -\frac{\pi}{2} < x < \frac{\pi}{2}$

۵۰۹۸ سوال ۴.۱۹۱: $y' = \tan x,\ -\frac{\pi}{2} < x < \frac{\pi}{2}$

۵۰۹۹ سوال ۴.۱۹۲: $y' = \cot\frac{\theta}{2},\ 0 < \theta < 2\pi$

۵۱۰۰ سوال ۴.۱۹۳: $y' = \csc^2\frac{\theta}{2},\ 0 < \theta < 2\pi$

۵۱۰۱ سوال ۴.۱۹۴: $y' = \tan^2\theta - 1,\ -\frac{\pi}{2} < \theta < \frac{\pi}{2}$

۵۱۰۲ سوال ۴.۱۹۵: $y' = 1 - \cot^2\theta,\ 0 < \theta < \pi$

۵۱۰۳ سوال ۴.۱۹۶: $y' = \cos t,\ 0 \le t \le 2\pi$

۵۱۰۴ سوال ۴.۱۹۷: $y' = \sin t,\ 0 \le t \le 2\pi$

۵۱۰۵ سوال ۴.۱۹۸: $y' = (x+1)^{-2/3}$

۵۱۰۶ سوال ۴.۱۹۹: $y' = (x-2)^{-1/3}$

۵۱۰۷ سوال ۴.۲۰۰: $y' = x^{-2/3}(x-1)$

۵۱۰۸ سوال ۴.۲۰۱: $y' = x^{-4/5}(x+1)$

۵۱۰۹ سوال ۴.۲۰۲: $y' = 2|x| = \begin{cases} -2x, & x \le 0 \\ 2x, & x > 0 \end{cases}$

۵۱۱۰ سوال ۴.۲۰۳: $y' = \begin{cases} -x^2, & x \le 0 \\ x^2, & x > 0 \end{cases}$

۵۱۱۱

۵۱۱۲ **y' اور y'' سے y کا خاکہ بنانا**

۵۱۱۳ سوال ۴.۲۰۴ تا سوال ۴.۲۰۷ میں نقطہ N سے گزرتے ہوئے تفاعل $y = f(x)$ کے یک رتبی تفرق y' اور دو رتبی تفرق y'' کی ترسیم دی

۵۱۱۴ گئیں ہیں۔ ان کی نقل کر کے اس پر y کی تخمینی ترسیم کا خاکہ بنائیں۔

۵۱۱۵ سوال ۴.۲۰۴: ترسیمات شکل ۴.۵۱-ا میں دیے گئے ہیں۔

۵۱۱۶ سوال ۴.۲۰۵: ترسیمات شکل ۴.۵۱-ب میں دیے گئے ہیں۔

۵۱۱۷ سوال ۴.۲۰۶: ترسیمات شکل ۴.۵۱-ج میں دیے گئے ہیں۔

۵۱۱۸ سوال ۴.۲۰۷: ترسیمات شکل ۴.۵۱-د میں دیے گئے ہیں۔

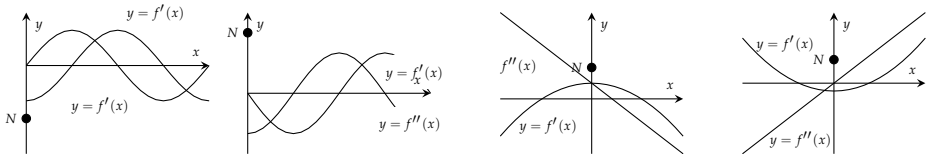

(ا) (ب) (ج) (د)

شکل ۴.۵۱: ترسیمات برائے سوال ۴.۲۰۴ تا سوال ۴.۲۰۷

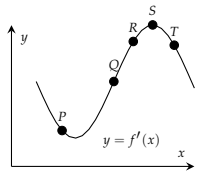

شکل ۴.۵۲: ترسیم برائے سوال ۴.۲۰۸

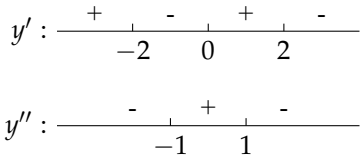

شکل ۴.۵۳: ترسیم برائے سوال ۴.۲۱۱

نظریہ اور مثالیں

سوال ۴.۲۰۸: دو مرتبہ قابل تفرق تفاعل $y = f(x)$ کو شکل ۴.۵۲ میں دکھایا گیا ہے۔ دیے گئے پانچ نقطوں پر بتائیں کہ y' اور y'' مثبت، منفی یا صفر ہیں۔

سوال ۴.۲۰۹: درج ذیل پر پورا اترتا ہوا ہموار ترسیم کھینچیں۔

$$f(-2) = 8, \qquad f'(2) = f'(-2) = 0$$
$$f(0) = 4, \qquad f'(x) < 0, |x| < 2$$
$$f(2) = 0, \qquad f''(x) < 0,\ x < 0$$
$$f'(x) > 0, |x| > 2, \qquad f''(x) > 0,\ x > 0$$

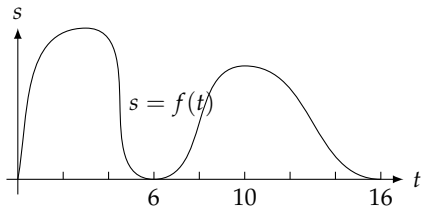

شکل ۴.۵۴: ترسیم برائے سوال ۴.۲۱۲

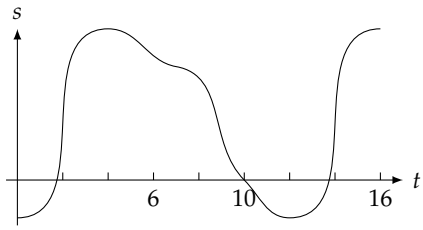

شکل ۴.۵۵: ترسیم برائے سوال ۴.۲۱۳

سوال ۴.۲۱۰: دو مرتبہ قابل تفرق تفاعل $y = f(x)$ جو درج ذیل کو مطمئن کرتا ہو کو ترسیم کریں۔

x	y	تفرق
$x < 2$		$y < 0,\ y'' > 0$
2	1	$y' = 0,\ y'' > 0$
$2 < x < 4$		$y' > 0,\ y'' > 0$
4	4	$y' > 0,\ y'' = 0$
$4 < x < 6$		$y' > 0,\ y'' < 0$
6	7	$y' = 0,\ y'' < 0$
$x > 6$		$y' < 0,\ y'' < 0$

سوال ۴.۲۱۱: دو مرتبہ قابل تفرق تفاعل $y = f(x)$ جو نقطہ $(-2,2)$ ، $(-1,1)$ ، $(0,0)$ ، $(1,1)$ اور $(2,2)$ سے گزرتا ہے اور جس کے یک رتبی تفرق کی علامت کا نقش شکل ۴.۵۳ میں دیا گیا ہے کو ترسیم کریں۔

سوال ۴.۲۱۲: سمتی رفتار اور اسراع

محددی لکیر پر آگے پیچھے حرکت کرتے ہوئے جسم کا مقام بالمقابل وقت شکل ۴.۵۴ میں دکھایا گیا ہے۔(ا) جسم مبدا سے کب دور اور کب مبدا کی طرف حرکت کرتا ہے؟(ب) کب سمتی رفتار صفر ہے؟(ج) کب اسراع صفر ہے؟(د) کب اسراع مثبت اور کب منفی ہے؟

سوال ۴.۲۱۳: سمتی رفتار اور اسراع

محددی لکیر پر آگے پیچھے حرکت کرتے ہوئے جسم کا مقام بالمقابل وقت شکل ۴.۵۵ میں دکھایا گیا ہے۔(ا) جسم مبدا سے کب دور اور کب مبدا کی طرف حرکت کرتا ہے؟(ب) کب سمتی رفتار صفر ہے؟(ج) کب اسراع صفر ہے؟(د) کب اسراع مثبت اور کب منفی ہے؟

سوال ۴.۲۱۴: حاشیہ لاگت

x اشیاء پیدا کرنے پر لاگت $c = f(x)$ کو شکل ۴.۵۶ میں ترسیم کیا گیا ہے۔ کتنی پیداوار پر حاشیہ لاگت گھٹنے سے بڑھنا شروع ہوتی ہے؟

سوال ۴.۲۱۵: ماہوار آمدنی $y = r(t)$ بالمقابل ماہ کو شکل ۴.۵۷ میں ترسیم کیا گیا ہے۔ کس دوران حاشیہ آمدنی بڑھ رہی ہے اور کب گھٹ رہی ہے؟

سوال ۴.۲۱۶: تفاعل $y = f(x)$ کا تفرق درج ذیل ہے۔ کہاں مقامی کم سے کم، مقامی زیادہ سے زیادہ یا نقطہ تصریف پایا جاتا ہے؟(اشارہ: y' کی علامت کا نقش)

$$y' = (x-1)^2(x-2)$$

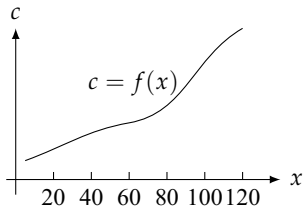

شکل ۴.۵۶: لاگت بالمقابل پیداوار (سوال ۴.۲۱۴)

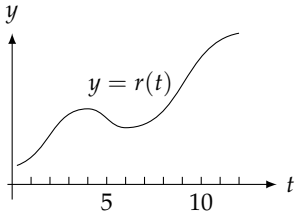

شکل ۴.۵۷: آمدن بالمقابل سال (سوال ۴.۲۱۵)

سوال ۴.۲۱۷: تفاعل $y = f(x)$ کا تفرق درج ذیل ہے۔ کہاں مقامی کم سے کم، مقامی زیادہ سے زیادہ یا نقطہ تصریف پایا جاتا ہے؟ (اشارہ: y' کی علامت کا نقش)

$$y' = (x-1)^2(x-2)(x-4)$$

سوال ۴.۲۱۸: $x > 0$ کے لئے ایسا تفاعل $y = f(x)$ ترسیم کریں جس کا $f(1) = 0$ اور $f'(x) = \frac{1}{x}$ ہے۔ کیا تفاعل کی مقعر کے بارے میں کچھ کہنا ممکن ہو گا؟ اپنے جواب کی وجہ پیش کریں۔

سوال ۴.۲۱۹: تفاعل $y = f(x)$ کا دور تبی تفرق استراری اور غیر صفر ہے۔ کیا اس کی ترسیم کے بارے میں کچھ کہنا ممکن ہو گا؟ اپنے جواب کی وجہ پیش کریں۔

سوال ۴.۲۲۰: مستقل b ، c اور d کی صورت میں b کی کس قیمت کے لئے منحنی $y = x^3 + bx^2 + cx + d$ کا نقطہ تصریف $x = 1$ پر پایا جائے گا؟ اپنے جواب کی وجہ پیش کریں۔

سوال ۴.۲۲۱: افقی مماس۔ درست یا غلط؟ سمجھائیں

۱. ہر ایسے کثیر رکنی جس میں سب سے زیادہ طاقت جفت ہو کا کم سے کم ایک افقی مماس پایا جاتا ہے۔

۲. ہر ایسے کثیر رکنی جس میں سب سے زیادہ طاقت طاق ہو کا کم سے کم ایک افقی مماس پایا جاتا ہے۔

سوال ۴.۲۲۲: قطع مکافی

۱. قطع مکافی $y = ax^2 + bx + c,\ a \neq 0$ کا کنگرہ تلاش کریں۔

۲. قطع مکافی کب اوپر مقعر اور کب نیچے مقعر ہے؟ اپنے جواب کی وجہ پیش کریں۔

سوال ۴.۲۲۳: کیا یہ درست ہے کہ دو مرتبہ قابل تفرق تفاعل $y = f(x)$ کی مقعر ہر ایسے نقطہ پر تبدیل ہوتی ہے جہاں $f''(x) = 0$ ہو؟ اپنے جواب کہ وجہ پیش کریں۔

سوال ۴.۲۲۴: دو درجی منحنی۔ آپ دو درجی منحنی $y = ax^2 + bx + c,\ a \neq 0$ کے نقطہ تصریف کے بارے میں کیا کہہ سکتے ہیں؟ اپنے جواب کی وجہ پیش کریں۔

سوال ۴.۲۲۵: کعبی منحنی۔ آپ کعبی منحنی $y = ax^3 + bx^2 + cx + d,\ a \neq 0$ کے نقطہ تصریف کے بارے میں کیا کہہ سکتے ہیں؟ اپنے جواب کی وجہ پیش کریں۔

کمپیوٹر کا استعمال

سوال ۴.۲۲۶ تا سوال ۴.۲۳۶ میں تفاعل کی ترسیم پر نقطہ تصریف (اگر موجود ہو)، مقامی کم سے کم اور مقامی زیادہ سے زیادہ نقطے تلاش کریں۔ تفاعل کو ترسیم کرتے ہوئے ان نقطوں کی نشاندہی کریں۔ ساتھ ہی تفاعل کا یک رتبی تفرق اور دو رتبی تفرق بھی ترسیم کریں۔ جہاں یہ ترسیمات x محدد کو قطع کرتی ہیں، ان کا تفاعل کے ساتھ کیا تعلق ہے؟ اس کے علاوہ تفرق کے تفاعل کی ترسیم کے ساتھ کیا تعلقات ہیں؟

سوال ۴.۲۲۶: $y = x^5 - 5x^4 - 240$

سوال ۴.۲۲۷: $y = x^3 - 12x^2$

سوال ۴.۲۲۸: $y = \frac{4}{5}x^5 + 16x^2 - 25$

سوال ۴.۲۲۹: $y = \frac{x^4}{4} - \frac{x^3}{3} - 4x^2 + 12x + 20$

سوال ۴.۲۳۰: تفاعل $f(x) = 2x^4 - 4x^2 + 1$ اور اس کے پہلے دو تفرق ایک ساتھ ترسیم کریں۔ f' اور f'' کی قیمتوں اور علامتوں کے لحاظ سے f کے رویہ پر بحث کریں۔

سوال ۴.۲۳۱: تفاعل $f(x) = x\cos x$ اور اس کے پہلے دو تفرق کو $0 \leq x \leq 2\pi$ کے لئے ایک ساتھ ترسیم کریں۔ f'' کی قیمتوں اور علامتوں کے لحاظ سے f کے رویہ پر بحث کریں۔

سوال ۴.۲۳۲:

۱. $k = 0$ اور اس کی قریبی مثبت اور منفی قیمتوں کے لئے $f(x) = x^3 + kx$ کو ایک ساتھ ترسیم کریں۔ k کی قیمت کی ترسیم کی صورت پر کیا اثر پایا جاتا ہے؟

۲. $f''(x)$ تلاش کریں۔ آپ دیکھیں گے کہ $f''(x)$ دو درجی مساوات ہے۔ $f''(x)$ کا ممیز تلاش کریں ($ax^2 + bx + c$ کا ممیز $b^2 - 4ac$ ہے)۔ k کی کن قیمتوں کے لئے ممیز مثبت ہے؟ صفر ہے؟ منفی ہے؟ k کی کن قیمتوں کے لئے $f'(x)$ کے صفروں کی تعداد دو ہے؟ ایک ہے؟ صفر ہے؟ اب بتائیں کہ k کی قیمت کا $f(x)$ کی ترسیم کی صورت کے ساتھ کیا تعلق ہے۔

۳. k کی دیگر قیمتوں کے ساتھ تجربہ کر کے دیکھیں۔ $k \to \infty$ اور $k \to -\infty$ کرنے سے کیا ہوتا ہے؟

سوال ۴.۲۳۳:

ا. $k = -4$ اور اس کے قریبی قیمتوں کے لئے ایک ساتھ $-1 \leq x \leq 4$ پر $f(x) = x^4 + kx^3 + 6x^2$ ترسیم کریں۔ k کی قیمت ترسیم کی صورت پر کس طرح اثر انداز ہوتی ہے؟

ب. $f''(x)$ تلاش کریں۔ آپ دیکھیں گے کہ $f''(x)$ دو درجی مساوات ہے۔ $f''(x)$ کا ممیز تلاش کریں ($ax^2 + bx + c$ کا ممیز $b^2 - 4ac$ ہے)۔ k کی کن قیمتوں کے لئے ممیز مثبت ہے؟ صفر ہے؟ منفی ہے؟ k کی کن قیمتوں کے لئے $f'(x)$ کے صفروں کی تعداد دو ہے؟ ایک ہے؟ صفر ہے؟ اب بتائیں کہ k کی قیمت کا $f(x)$ کی ترسیم کی صورت کے ساتھ کیا تعلق ہے۔

سوال ۴.۲۳۴:

ا. $-3 \leq x \leq 3$ کے لئے $y = x^{2/3}(x^2 - 2)$ ترسیم کریں۔ اس کے بعد احصاء کے استعمال سے مقعر، اٹھان اور نیچے گرنے کی تصدیق کریں۔ (ہو سکتا ہے کہ آپ کو کمپیوٹر میں $x^{2/3}$ کو $(x^2)^{1/3}$ لکھنا پڑے۔)

ب. کیا $x = 0$ پر منحنی کا کنگرہ پایا جاتا ہے یا صرف ایک کونا جس کے بائیں ہاتھ اور دائیں ہاتھ تفرق مختلف ہیں؟

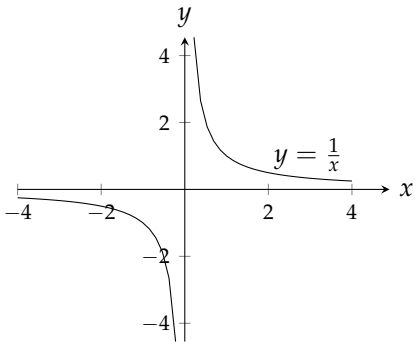

شکل ۴.۵۸: تفاعل $y = \frac{1}{x}$ کی ترسیم۔

سوال ۴.۲۳۵:

ا. $-0.5 \le x \le 1.5$ پر $y = 9x^{2/3}(x-1)$ ترسیم کریں۔ اس کے بعد احصاء کی مدد سے مقعر، مقامی کم سے کم اور مقامی زیادہ سے زیادہ نقطوں کی تصدیق کریں۔ مبدا کے بائیں جانب کون سی مقعر ہے؟ (ہو سکتا ہے کہ آپ کو کمپیوٹر میں $x^{2/3}$ کو $(x^2)^{1/3}$ لکھنا پڑے۔)

ب. کیا $x = 0$ پر ترسیم کا کنگرہ پایا جاتا ہے یا صرف ایک کونا جس کے بائیں ہاتھ اور دائیں ہاتھ تفرق مختلف ہیں؟

سوال ۴.۲۳۶: کیا $x = -3$ کے قریب $y = x^2 + 3\sin 2x$ کا افقی مماس پایا جاتا ہے؟ اپنے جواب کی وجہ پیش کریں۔

۴.۵ $x \to \mp\infty$ پر حد، متقارب اور غالب اجزاء

اس حصہ میں ناطق تفاعل (دو کثیر رکنیوں کے حاصل تقسیم) کے علاوہ دیگر تفاعل، جن کا $x \to \mp\infty$ پر دلچسپ حد ہو، کی ترسیمات پر متقارب اور غالب اجزاء کی مدد سے غور کیا جائے گا۔

$x \to \mp\infty$ پر حد

تفاعل $f(x) = \frac{1}{x}$ تمام $x \neq 0$ کے لئے معین ہے۔ مثبت اور بتدریج بڑھتی x کے لئے $\frac{1}{x}$ کی قیمت بتدریج گھٹے گی۔ منفی x جس کی مقدار بتدریج بڑھتی ہو کے لئے $\frac{1}{x}$ کی مقدار بتدریج گھٹے گی۔ ہم مختصراً کہتے ہیں کہ $x \to \mp\infty$ پر $f(x) = \frac{1}{x}$ کا حد 0 ہے۔

تعریف:

ا. اگر ہر عدد $\epsilon > 0$ کے لئے ایسا مطابقتی عدد M موجود ہو کہ تمام $x > M$ کے لئے $|f(x) - L| < \epsilon$ ہو یعنی

$$x > M \quad \Longrightarrow \quad |f(x) - L| < \epsilon$$

۵۲۰۳ تب ہم کہتے ہیں کہ x لامتناہی تک پہنچنے پر $f(x)$ کا حد L ہے جس کو ہم

$$\lim_{x\to\infty} f(x) = L$$

۵۲۰۴ لکھتے ہیں۔

۵۲۰۵ ۲. اگر ہر عدد $\epsilon > 0$ کے لئے ایسا مطابقتی عدد N موجود ہو کہ تمام $x < N$ کے لئے $\left|f(x) - L\right| < \epsilon$ ہو یعنی

$$x < N \quad \Longrightarrow \quad \left|f(x) - L\right| < \epsilon$$

۵۲۰۶ تب ہم کہتے ہیں کہ x منفی لامتناہی تک پہنچنے پر $f(x)$ کا حد L ہے جس کو ہم

$$\lim_{x\to-\infty} f(x) = L$$

۵۲۰۷ لکھتے ہیں۔

۵۲۰۸ $\square$

۵۲۰۹ لامتناہی کو ∞ سے ظاہر کیا جاتا ہے جو حقیقی عدد نہیں ہے لہٰذا اس کو حساب میں عام اعداد کی طرح استعمال نہیں کیا جا سکتا ہے۔

۵۲۱۰ $x \to \mp\infty$ پر تفاعل کا حد تلاش کرنے کی حکمت عملی وہی ہے جو حصہ ۲.۲ میں استعمال کی گئی۔ وہاں ہم نے مستقل تفاعل $y = k$ اور مماثل تفاعل
۵۲۱۱ $y = x$ کی حدیں حاصل کیں۔ اس کے بعد الجبرائی ملاپ کا ایک مسئلہ استعمال کرتے ہوئے ان نتائج سے دیگر تفاعل کی حدیں حاصل کی گئیں۔ یہاں ابتدائی
۵۲۱۲ تفاعل کو $y = k$ اور $y = x$ کے بجائے $y = k$ اور $y = \frac{1}{x}$ لیتے ہوئے ہم یہی کچھ دوبارہ کرتے ہیں۔

۵۲۱۳ باضابطہ تعریف استعمال کرتے ہوئے ہمیں درج ذیل ثابت کرنا ہو گا۔

$$\lim_{x\to\mp\infty} k = k, \quad \lim_{x\to\mp\infty} \frac{1}{x} = 0 \tag{۱}$$

۵۲۱۴ ہم مستقل تفاعل کا حد سوال ۴.۳۲۳ اور سوال ۴.۳۲۴ کے لئے رکھتے ہیں جبکہ دوسرے تفاعل کو یہاں ثابت کرتے ہیں۔

۵۲۱۵ مثال ۴.۲۰: درج ذیل دکھائیں۔

۵۲۱۶ ا. $\lim_{x\to\infty} \frac{1}{x} = 0$ ۵۲۱۷ ب. $\lim_{x\to-\infty} \frac{1}{x} = 0$

۵۲۱۸ حل:

۵۲۱۹ ا. فرض کریں $\epsilon > 0$ دیا گیا ہے۔ ہمیں ایسا عدد M تلاش کرنے ہے کہ تمام x کے لئے درج ذیل مطمئن ہوتا ہو۔

$$x > M, \quad \Longrightarrow \quad \left|\frac{1}{x} - 0\right| = \left|\frac{1}{x}\right| < \epsilon$$

۵۲۲۰ $M = \frac{1}{\epsilon}$ یا اس سے بڑا مثبت عدد منتخب کرنے سے درج بالا مطمئن ہوتا ہے۔ یوں $\lim_{x\to\infty} \frac{1}{x} = 0$ ثابت ہوتا ہے (شکل ۴.۵۹)۔

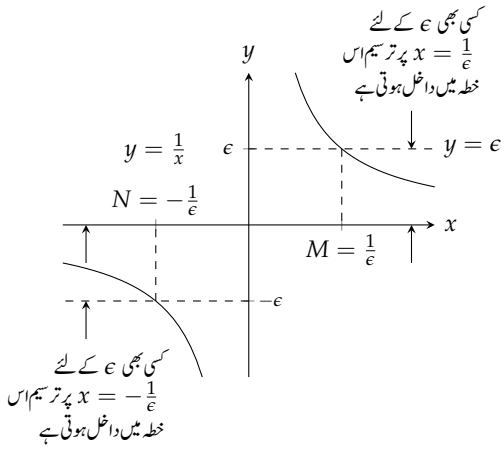

شکل ۴.۵۹: حد کی تلاش میں جیومیٹری (مثال ۴.۲۰)

۵۲۲۱ ب. فرض کریں $\epsilon > 0$ دیا گیا ہے۔ ہمیں ایسا عدد N تلاش کرنے ہے کہ تمام x کے لئے درج ذیل مطمئن ہوتا ہو۔

$$x < N, \quad \Longrightarrow \quad \left|\frac{1}{x} - 0\right| = \left|\frac{1}{x}\right| < \epsilon$$

۵۲۲۲ $N = -\frac{1}{\epsilon}$ یا $-\frac{1}{\epsilon}$ سے کم منتخب کرنے سے درج بالا مطمئن ہوتا ہے۔ یوں $\lim_{x\to-\infty} \frac{1}{x} = 0$ ثابت ہوتا ہے (شکل ۴.۵۹)۔

۵۲۲۳ □

۵۲۲۴ مساوات ۱ کو استعمال کرتے ہوئے درج ذیل مسئلہ سے ہم دیگر حل تلاش کر سکتے ہیں۔

۵۲۲۵ مسئلہ ۴.۶: $x \to \mp\infty$ پر حل کے خواص

۵۲۲۶ اگر $\lim_{x\to\mp\infty} f(x) = L$ اور $\lim_{x\to\mp\infty} g(x) = M$ ہوں تب درج ذیل درست ہوں گے۔ (L اور M حقیقی اعداد
۵۲۲۷ ہیں۔)

۵۲۲۸ قاعدہ مجموعہ: $\lim_{x\to\mp\infty}[f(x) + g(x)] = L + M$

۵۲۲۹ قاعدہ فرق: $\lim_{x\to\mp\infty}[f(x) - g(x)] = L - M$

۵۲۳۰ قاعدہ ضرب: $\lim_{x\to\mp\infty} f(x) \cdot g(x) = L \cdot M$

۵۲۳۱ قاعدہ ضرب مستقل: $\lim_{x\to\mp\infty} kf(x) = kL$

۵۲۳۲ قاعدہ حاصل تقسیم: $\lim_{x\to\mp\infty} \frac{f(x)}{g(x)} = \frac{L}{M}$

۵۲۳۳ قاعدہ طاقت: اگر m اور n عدد صحیح ہوں تب $\lim_{x\to\mp\infty}[f(x)]^{m/n} = L^{m/n}$

۵۲۳۴

۵۲۳۵ یہ خواص بالکل مسئلہ ۲.۱ (صفحہ ۹۳) میں دیے گئے خواص کی طرح ہیں اور انہیں ہم بالکل اسی طرح استعمال کرتے ہیں۔

۵۲۳۶ مثال ۴.۲۱:

ا.

$$\begin{aligned}\lim_{x\to\infty}(5+\tfrac{1}{x}) &= \lim_{x\to\infty}5+\lim_{x\to\infty}\tfrac{1}{x} && \text{قاعدہ مجموعہ}\\ &= 5+0=5 && \text{معلوم قیمتیں}\end{aligned}$$

ب.

$$\begin{aligned}\lim_{x\to-\infty}\frac{\pi\sqrt{3}}{x^2} &= \lim_{x\to-\infty}\pi\sqrt{3}\cdot\frac{1}{x}\cdot\frac{1}{x}\\ &= \lim_{x\to-\infty}\pi\sqrt{3}\cdot\lim_{x\to-\infty}\frac{1}{x}\cdot\lim_{x\to-\infty}\frac{1}{x} && \text{قاعدہ ضرب}\\ &= \pi\sqrt{3}\cdot 0\cdot 0=0 && \text{معلوم قیمتیں}\end{aligned}$$

۵۲۳۷ □

۵۲۳۸ مثال ۴.۲۲: شمار کنندہ اور نسب نما میں بلند تر طاقت ایک سے ہیں (شکل ۴.۶۰)

$$\begin{aligned}\lim_{x\to\infty}\frac{5x^2+8x-3}{3x^2+2} &= \lim_{x\to\infty}\frac{5+\frac{8}{x}-\frac{3}{x^2}}{3+\frac{2}{x^2}} && \text{شمار کنندہ اور نسب نما کو } x^2 \text{ سے تقسیم کریں}\\ &= \frac{5+0-0}{3+0}=\frac{5}{3}\end{aligned}$$

۵۲۳۹ □

۵۲۴۰ مثال ۴.۲۳: شمار کنندہ کی بلند ترین طاقت نسب نما کی بلند ترین طاقت سے کم ہے (شکل ۴.۶۱)

$$\begin{aligned}\lim_{x\to-\infty}\frac{11x+2}{2x^3-1} &= \lim_{x\to-\infty}\frac{\frac{11}{x^2}+\frac{2}{x^3}}{2-\frac{1}{x^3}} && \text{شمار کنندہ اور نسب نما کو } x^3 \text{ سے تقسیم کریں}\\ &= \frac{0+0}{2-0}=0\end{aligned}$$

۵۲۴۱ □

۵۲۴۲ مثال ۴.۲۴: شمار کنندہ کی بلند ترین طاقت نسب نما کی بلند ترین طاقت سے زیادہ ہے۔ شکل ۴.۶۲

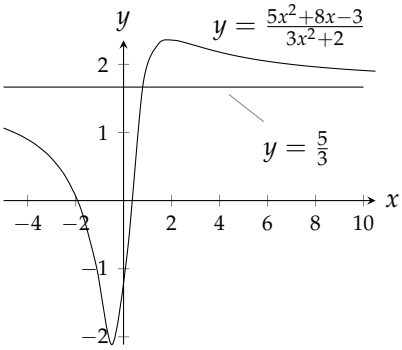

شکل ۴.۶۰: ترسیم تفاعل اور حد (مثال ۴.۲۲)

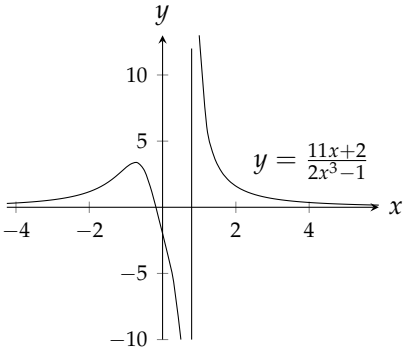

شکل ۴.۶۱: ترسیم تفاعل اور حد (مثال ۴.۲۳)

ا.

$$\lim_{x\to-\infty} \frac{2x^2-3}{7x+4} = \lim_{x\to-\infty} \frac{2x-\frac{3}{x}}{7+\frac{4}{x}} \qquad \text{شمار کنندہ اور نسب نما کو } x \text{ سے تقسیم کریں}$$
$$= -\infty$$

ب.

$$\lim_{x\to-\infty} \frac{-4x^3+7x}{2x^2-3x-10} = \lim_{x\to-\infty} \frac{-4x+\frac{7}{x}}{2-\frac{3}{x}-\frac{10}{x^2}} \qquad \text{شمار کنندہ اور نسب نما کو } x^2 \text{ سے تقسیم کریں}$$
$$= \frac{\infty}{2} = \infty$$

□

مثال ۴.۲۲ تا مثال ۴.۲۴ سے $x \to \mp\infty$ پر ناطق تفاعل کی حد حاصل کرنے کا ایک نقش ملتا ہے۔

ا. اگر شمار کنندہ اور نسب نما کی بلند تر طاقت ایک سی ہو تب تفاعل کا حد بلند تر ارکان کی عددی سر کا حاصل تقسیم ہو گا۔

ب. اگر شمار کنندہ کی بلند تر طاقت نسب نما کی بلند تر طاقت سے کم ہو تب تفاعل کا حد صفر ہو گا۔

ج. اگر شمار کنندہ کی بلند تر طاقت نسب نما کی بلند تر طاقت سے زیادہ ہو تب تفاعل کا حد ∞ یا $-\infty$ ہو گا۔ حد کی علامت نسب نما اور شمار کنندہ کی علامتوں سے حاصل ہو گا۔

ناطق تفاعل کے لئے خلاصہ

ا. اگر درجہ f اور درجہ g ایک دوسرے کے برابر ہوں تب $\lim_{x\to\mp\infty} \frac{f(x)}{g(x)} = \frac{a_n}{b_n}$ یعنی f اور g کے اول عددی سروں کی نسبت کے برابر ہو گا۔

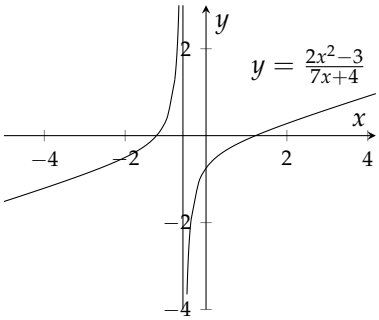

شکل ۶۲.۴: ترسیم برائے مثال ۴.۲۴

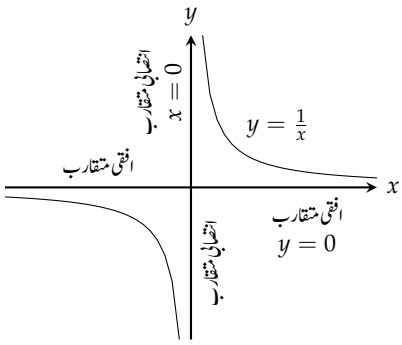

شکل ۶۳.۴: محددی محور قطع زائد $y = \frac{1}{x}$ کے دونوں شاخوں کے متقارب ہیں۔

ب. اگر درجہ f درجہ g سے کم ہو تب $\lim\limits_{x\to\mp\infty} \frac{f(x)}{g(x)} = 0$ ہو گا۔

ج. اگر درجہ f درجہ g سے زیادہ ہو تب $\lim\limits_{x\to\mp\infty} \frac{f(x)}{g(x)} = \mp\infty$ ہو گا جہاں شمار کنندہ اور نسب نما کی علامتوں سے علامت تعین ہو گا۔

کثیر رکنی $a_n x^n + a_{n-1}x^{n-1} + \cdots + a_1 x + a_0,\ a_n \neq 0$ کا اول عددی سر a_n ہے جو بلند تر طاقتی جزو کا عددی سر ہے۔

افقی اور انتصابی متقارب

اگر مبدا سے دور چلتے ہوئے ایک تفاعل اور کسی مقررہ لکیر کے درمیان فاصل صفر تک پہنچتا ہو تب ہم کہتے ہیں کہ ترسیم لکیر تک متقاربی پہنچتی ہے اور اس لکیر کو ترسیم کا **متقارب**[۱۳] کہتے ہیں۔

مثال ۴.۲۵: محددی محور تفاعل $y = \frac{1}{x}$ کے متقارب ہیں (شکل ۶۳.۴)۔ ترسیم کے دائیں حصے پر

$$\lim_{x\to\infty} \frac{1}{x} = 0$$

اور ترسیم کے بائیں حصے پر

$$\lim_{x\to-\infty} \frac{1}{x} = 0$$

ہیں لہٰذا x محور $y = \frac{1}{x}$ کا متقارب ہے۔ اسی طرح اوپر اور نیچے

$$\lim_{x\to 0^+} \frac{1}{x} = \infty, \quad \lim_{x\to 0^-} \frac{1}{x} = -\infty$$

---

[۱۳] asymptote

۵۲۶۱ ہیں لہٰذا y محور بھی $y = \frac{1}{x}$ کا متقارب ہے۔

۵۲۶۲ یاد رہے کہ $x = 0$ پر نسب نما صفر ہے لہٰذا تفاعل غیر معین ہے۔ □

۵۲۶۳ تعریف: تفاعل $y = f(x)$ کا خط $y = b$ اس صورت افقی متقارب ہو گا جب

$$\lim_{x\to\infty} f(x) = b \quad \text{یا} \quad \lim_{x\to-\infty} f(x) = b \quad \text{ہو۔}$$

۵۲۶۴ تفاعل $y = f(x)$ کا خط $x = a$ اس صورت انتصابی متقارب ہو گا جب

$$\lim_{x\to a^+} f(x) = \mp\infty \quad \text{یا} \quad \lim_{x\to a^-} f(x) = \mp\infty \quad \text{ہو۔}$$

۵۲۶۵ □

۵۲۶۶ مثال ۴.۲۶: $\frac{\pi}{2}$ کے طاق عدد صحیح مضرب پر، جہاں $\cos x = 0$ ہے، درج ذیل دونوں منحنیات کے انتصابی متقارب پائے جاتے ہیں (شکل
۵۲۶۷ ۴.۶۴)۔

$$y = \sec x = \frac{1}{\cos x}, \quad y = \tan x = \frac{\sin x}{\cos x}$$

۵۲۶۸ π کے عدد صحیح مضرب پر، جہاں $\sin x = 0$ ہے، درج ذیل دونوں منحنیات کے انتصابی متقارب پائے جاتے ہیں (شکل ۴.۶۵)۔

$$y = \csc x = \frac{1}{\sin x}, \quad y = \cot x = \frac{\cos x}{\sin x}$$

۵۲۶۹ □

۵۲۷۰ مثال ۴.۲۷: درج ذیل ترسیم کے متقارب تلاش کریں۔

$$y = \frac{x+3}{x+2}$$

۵۲۷۱ حل: ہم $x \to \mp\infty$ پر اور $x \to -2$، جہاں نسب نما صفر ہے، پر ترسیم کا رویہ دیکھنا چاہتے ہیں۔ قلم و کاغذ استعمال کرتے ہوئے ہم $x + 3$
۵۲۷۲ کو $x + 2$ سے تقسیم کرتے ہیں۔

۵۲۷۳

$$\begin{array}{r|l} & \quad 1 \\ \hline x+2 & x+3 \\ & -x-2 \\ \hline & \quad 1 \end{array}$$

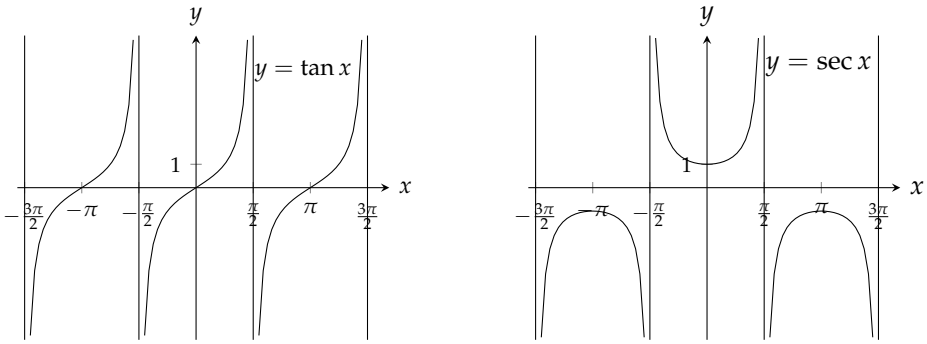

شکل ۴.۶۴: انتصابی متقارب (مثال ۴.۲۶)

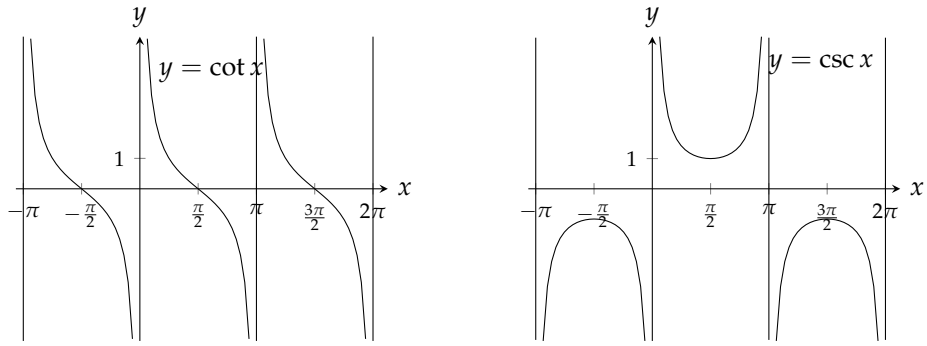

شکل ۴.۶۵: انتصابی متقارب (مثال ۴.۲۶)

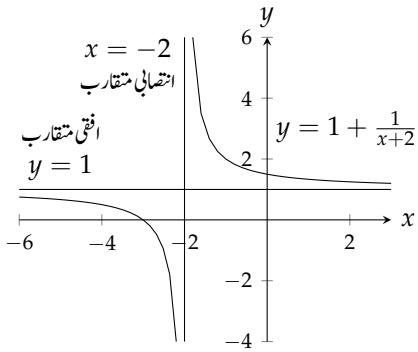

شکل ۴.۶۶: انتصابی متقارب (مثال ۴.۲۷)

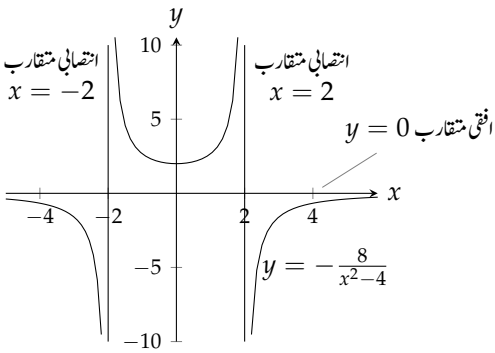

شکل ۴.۶۷: انتصابی متقارب (مثال ۴.۲۸)

۵۲۷۴ یوں درج ذیل لکھا جا سکتا ہے۔

$$y = \frac{x+3}{x+2} = \frac{x+2+1}{x+2} = 1 + \frac{1}{x+2}$$

۵۲۷۵ ہم دیکھتے ہیں کہ $\frac{1}{x}$ کی منحنی کو 1 اکائی اوپر اور 2 اکائیاں بائیں منتقل کرتے ہوئے درج بالا منحنی حاصل ہو گی۔ یوں محددی محور کے بجائے خط $y = 1$ اور
۵۲۷۶ خط $x = -2$ متقارب خط ہوں گے۔

۵۲۷۷ □

۵۲۷۸ مثال ۴.۲۸: درج ذیل ترسیم کا متقارب تلاش کریں۔

$$y = -\frac{8}{x^2-4}$$

۵۲۷۹ حل: ہم $x \to \mp\infty$ اور $x - \mp 2$، جہاں نسب نما صفر ہے، پر ترسیم کے رویہ میں دلچسپی رکھتے ہیں۔

۵۲۸۰ چونکہ $\lim_{x\to\mp\infty} f(x) = 0$ لہٰذا افقی متقارب خط $y = 0$ ہے (شکل ۴.۶۷)۔ چونکہ $\lim_{x\to 2^+} f(x) = \infty$ اور
۵۲۸۱ $\lim_{x\to 2^-} f(x) = -\infty$ سے $x = 2$ متقاربی خط حاصل ہوتا ہے۔ اسی طرح $x = -2$ بھی متقاربی خط حاصل ہو گا۔ □

۵۲۸۲ ایسا معلوم ہوتا ہے کہ جہاں ناطق تفاعل کا نسب نما صفر ہو وہاں تفاعل کا انتصابی متقارب پایا جائے گا۔ یہ تقریباً درست ہے۔ حقیقت میں ناطق تفاعل کی کم تر جزو
۵۲۸۳ تک تخفیف شدہ صورت میں جہاں نسب نما کا صفر ہو وہاں تفاعل کا انتصابی متقارب پایا جائے گا۔

۵۲۸۴ مثال ۴.۲۹: نسب نما میں صفر پر قابل ہٹاؤ عدم استمرار درج ذیل کی ترسیم

$$f(x) = \frac{x^3-1}{x^2-1}$$

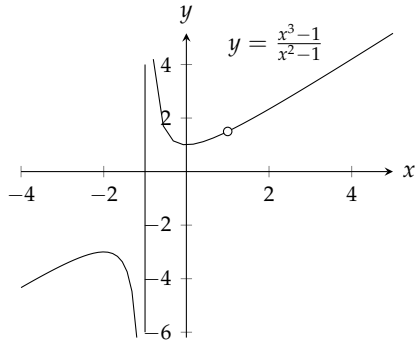

شکل ۴.۶۸: منحنی $f(x) = \frac{x^3-1}{x^2-1}$ کی $x = 1$ پر عدم استمرار قابل ہٹاو ہے لہٰذا اس کی صرف $x = -1$ پر متقاربی خط ہو گا۔

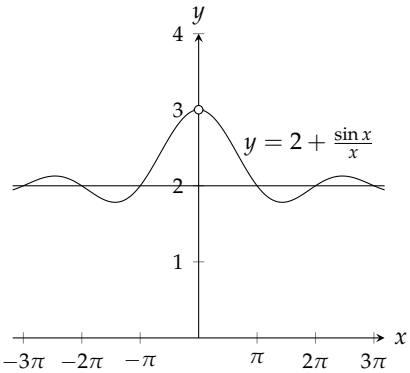

شکل ۴.۶۹: منحنی اپنے متقاربی خط کو لامتناہی مرتبہ قطع کر سکتی ہے (مثال ۴.۳۰)۔

۵۲۸۵ کا $x = -1$ پر انتصابی متقارب پایا جاتا ہے لیکن $x = 1$ پر نہیں پایا جاتا ہے۔ چونکہ

$$\frac{x^3-1}{x^2-1} = \frac{(x-1)(x^2+x+1)}{(x-1)(x+1)} = \frac{x^2+x+1}{x+1}$$

۵۲۸۶ لکھا جا سکتا ہے لہٰذا عدم استمرار قابل ہٹاو ہے اور $x \to 1$ پر تفاعل کا حد $\frac{3}{2}$ ہے (شکل ۴.۶۸)۔ □

۵۲۸۷ مسئلہ ۴.۲ (صفحہ ۹۷ مسئلہ پیچ) بھی $x \to \mp\infty$ پر حد کے لئے قابل لاگو ہے۔ اس کی ایک مثال پیش کرتے ہیں۔

۵۲۸۸ مثال ۴.۳۰: مسئلہ پیچ استعمال کرتے ہوئے درج ذیل منحنی کے متقارب تلاش کریں۔

$$y = 2 + \frac{\sin x}{x}$$

۵۲۸۹ حل: ہم $x \to 0$ جہاں نسب نما صفر ہو گا اور $x \to \mp\infty$ پر منحنی کے رویہ میں دلچسپی رکھتے ہیں۔

۵۲۹۰ ہم جانتے ہیں کہ $\lim_{x\to 0} \frac{\sin x}{x} = 1$ ہے لہٰذا مبدا پر کوئی متقارب نہیں پایا جاتا ہے۔ چونکہ

$$0 \le \left|\frac{\sin x}{x}\right| \le \left|\frac{1}{x}\right|$$

۵۲۹۱ اور $\lim_{x\to\mp\infty} \left|\frac{1}{x}\right| = 0$ ہے لہٰذا مسئلہ پیچ کے تحت $\lim_{x\to\mp\infty} \frac{\sin x}{x} = 0$ ہو گا۔ یوں

$$\lim_{x\to\mp\infty} (2 + \frac{\sin x}{x}) = 2 + 0 = 2$$

۵۲۹۲ ہو گا لہٰذا منحنی کے بائیں اور دائیں متقاربی خط $y = 2$ ہو گا (شکل ۴.۶۹)۔ □

۵۲۹۳ ترچھے متقارب

۵۲۹۴ اگر شمار کنندہ کا درجہ نسب نما کے درجے سے ایک زیادہ ہو تب ترسیم کا ایک ترچھا متقارب پایا جائے گا جو نا افقی اور نا انتصابی ہو گا۔

۵۲۹۵ مثال ۴.۳۱: درج ذیل کے متقارب تلاش کریں۔

$$f(x) = \frac{x^2 - 3}{2x - 4}$$

۵۲۹۶ حل: ہم $x \to \mp\infty$ اور $x \to 2$، جہاں نسب نما صفر ہو گا، پر ترسیم کے رویہ میں دلچسپی رکھتے ہیں۔ ہم $x^2 - 3$ کو $2x - 4$ سے تقسیم
۵۲۹۷ کرتے ہیں۔

۵۲۹۸

$$\begin{array}{r|l} & \frac{1}{2}x + 1 \\ \hline 2x - 4 & x^2 \qquad\quad - 3 \\ & -x^2 + 2x \\ \hline & \qquad 2x - 3 \\ & \qquad -2x + 4 \\ \hline & \qquad\qquad 1 \end{array}$$

۵۲۹۹ یوں درج ذیل لکھا جا سکتا ہے۔

$$\frac{x^2 - 3}{2x - 4} = \frac{x}{2} + 1 + \frac{1}{2x - 4}$$

۵۳۰۰ چونکہ $\lim_{x\to 2^+} f(x) = \infty$ اور $\lim_{x\to 2^-} f(x) = -\infty$ ہیں لہٰذا $x = 2$ دو طرفہ متقارب ہے۔ $x \to \mp\infty$ پر
۵۳۰۱ حاصل تقسیم صفر تک پہنچتی اور $f(x) \to \frac{x}{2} + 1$ تک پہنچتی ہے۔ یوں $y = \frac{x}{2} + 1$ دونوں اطراف متقاربی خط ہے (شکل ۴.۷۰)۔ □

۵۳۰۲ متقارب اور غالب اجزاء کی مدد سے ترسیم

۵۳۰۳ درج ذیل تفاعل کے تمام مشاہدوں

$$f(x) = \frac{x^2 - 3}{2x - 4}$$

۵۳۰۴ میں غالباً سب سے اہم مشاہدہ

$$f(x) = \frac{x}{2} + 1 + \frac{1}{2x - 4}$$

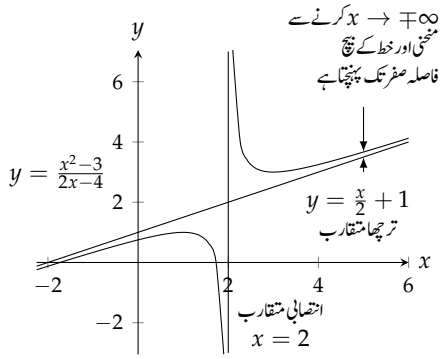

شکل ۴.۷۰: ترچھا متقارب (مثال ۴.۳۱)

۵۳۰۵ ہے جس سے درج ذیل لکھے جا سکتے ہیں۔

$$f(x) \approx \frac{x}{2} + 1 \qquad x \text{ کی بڑی قیمتوں کے لئے}$$

$$f(x) = \frac{1}{2x-4} \qquad 2 \text{ کے قریب } x \text{ کی قیمتوں کے لئے}$$

۵۳۰۶ بڑی x پر f کا رویہ $y = \frac{x}{2} + 1$ ہو گا جہاں $\frac{1}{2x-4}$ قابل نظر انداز ہو گا۔ $x = 2$ کے قریب $\frac{1}{2x-4}$ تفاعل f کا غالب جزو ہو گا لہٰذا
۵۳۰۷ $x = 2$ کے قریب f کا رویہ $\frac{1}{2x-4}$ کے رویے کی طرح ہو گا۔

۵۳۰۸ ہم کہتے ہیں کہ x کی بڑی مطلق مقدار پر $\frac{x}{2} + 1$ کا **غلبہ**[۱۴] ہے جبکہ $x = 2$ کے قریب $\frac{1}{2x-4}$ **غالب**[۱۵] ہے۔ تفاعل کا رویہ جاننے میں غالب
۵۳۰۹ اجزاء کلیدی کردار ادا کرتے ہیں۔

۵۳۱۰ مثال ۴.۳۲: درج ذیل ترسیم کریں۔

$$y = \frac{x^3+1}{x}$$

۵۳۱۱ حل: ہم تشاکل، غالب اجزاء، متقارب، اتار، چڑھاو، انتہائی نقطے اور مقعر پر غور کرتے ہیں۔

۵۳۱۲ **پہلا قدم:** تشاکل۔ نہیں پایا جاتا ہے۔

۵۳۱۳ **دوسرا قدم:** غالب اجزاء اور متقارب۔ ہم ناطق تفاعل کو کثیر رکنی جمع حاصل تقسیم کی صورت میں لکھتے ہیں۔

$$y = x^2 + \frac{1}{x} \qquad (۲)$$

---

[۱۴] dominates
[۱۵] dominant

۵۳۱۴ $|x|$ کی بڑی قیمت کے لئے $y \approx x^2$ اور $x = 0$ کے قریب $y \approx \frac{1}{x}$ ہوگا۔ مساوات ۲ میں $x = 0$ پر انتصابی متقارب نظر آتا ہے جہاں
۵۳۱۵ نسب نما صفر ہوگا۔

۵۳۱۶ **تیسرا قدم:** انتہا، اتار اور چڑھاو۔ یک رتبی تفرق

$$y' = 2x - \frac{1}{x^2} = \frac{2x^3 - 1}{x^2}$$

۵۳۱۷ نقطہ $x = 0$ پر غیر معین ہے جبکہ درج ذیل پر صفر ہے۔

۵۳۱۸
$$\begin{aligned} 2x - \frac{1}{x^2} &= 0 \\ 2x^3 - 1 &= 0 \\ x^3 &= \frac{1}{2} \\ x &= \frac{1}{\sqrt[3]{2}} \approx 0.8 \end{aligned}$$

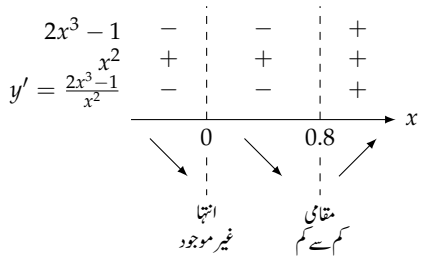

۵۳۱۹ **چوتھا قدم:** مقعر۔ دو رتبی تفرق

$$y'' = 2 + \frac{2}{x^3} = \frac{2x^3 + 2}{x^3}$$

۵۳۲۰ نقطہ $x = 0$ پر غیر معین ہے اور درج ذیل پر صفر ہے:

۵۳۲۱
$$\begin{aligned} 2 + \frac{2}{x^3} &= 0 \\ 2x^3 + 2 &= 0 \\ x^3 &= -1 \\ x &= -1 \end{aligned}$$



۵۳۲۲ **پانچواں قدم:** درج بالا معلومات کو اکٹھا کر کے ترسیم کا خاکہ بناتے ہیں۔

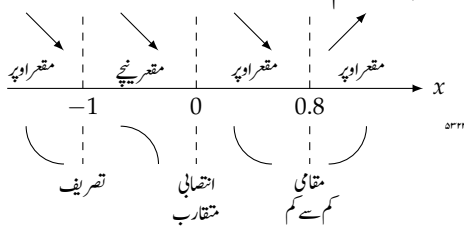

۵۳۲۳

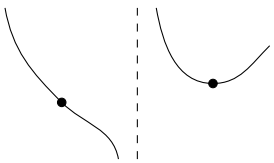

۵۳۲۴ **چھٹا قدم:** غالب اجزاء، قطع منحنی اور افقی مماس۔ اس سے منحنی کی ترسیم کھینچنے میں مدد ملتی ہے۔

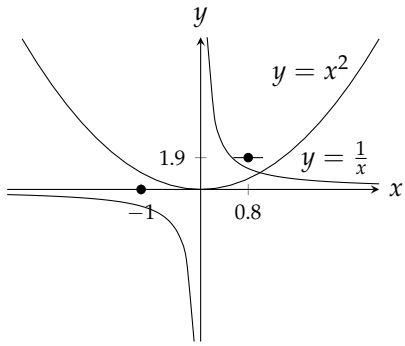

۵۳۲۵

۵۳۲۶ **ساتواں قدم:** ان تمام معلومات کو مد نظر رکھتے ہوئے تفاعل کی ترسیم کھینچتے ہیں۔

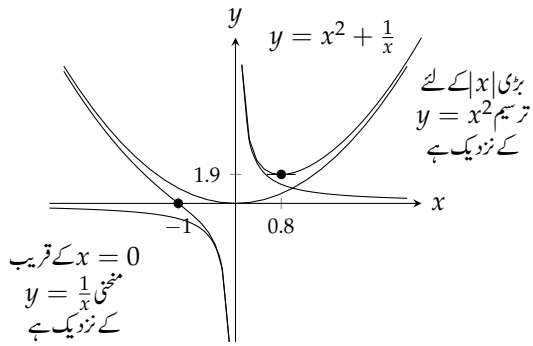

۵۳۲۷

۵۳۲۸ □

۵۳۲۹ تفاعل $y = f(x)$ ترسیم کرنے کا لائحہ عمل

۵۳۳۰

۵۳۳۱ ۱. تشاکل کی نشاندہی کریں۔
۵۳۳۲ کیا تفاعل طاق یا جفت ہے؟

۵۳۳۳ ۲. کیا معلوم تفاعل کو منتقل کرنے سے موجودہ تفاعل حاصل ہو گا؟

۵۳۳۴ ۳. غالب اجزاء تلاش کریں۔
۵۳۳۵ ناطق تفاعل کو کثیر رکنی جمع حاصل تقسیم کی صورت میں لکھیں۔

۵۳۳۶ ۴. متقارب خطوط اور قابل ہٹاو عدم استمرار تلاش کریں۔
۵۳۳۷ کیا کسی نقطے پر نسب نما صفر ہے؟
۵۳۳۸ $x \to \mp\infty$ کرنے سے کیا ہوتا ہے؟

۵۳۳۹ ۵. f' حاصل کرتے ہوئے $f' = 0$ کو حل کریں۔ نقطہ فاصل اور وقفہ اتار اور وقفہ چڑھاو دریافت کریں۔

۶. f'' سے مقعر اور نقطہ تصریف معلوم کریں۔

۷. ترسیم کی عمومی صورت کا خاکہ بنائیں۔

۸. مخصوص نقطوں، مثلاً آخری نقطے، نقطہ فاصل، قاطع محدد، پر f کی قیمت تلاش کریں۔

۹. ان تمام معلومات کو مد نظر رکھتے ہوئے تفاعل ترسیم کریں۔

سوالات

$x \to \mp\infty$ پر حد کا حساب

سوال ۴.۲۳۷ تا سوال ۴.۲۴۲ میں (ا) $x \to \infty$ پر (ب) $x \to -\infty$ پر حد تلاش کریں۔ (کمپیوٹر پر تفاعل ترسیم کرتے ہوئے حد کی ذہنی تصویر بنانے میں مدد ملتی ہے۔)

سوال ۴.۲۳۷: $f(x) = \frac{2}{x} - 3$

سوال ۴.۲۳۸: $f(x) = \pi - \frac{2}{x^2}$

سوال ۴.۲۳۹: $g(x) = \frac{1}{2+\frac{1}{x}}$

سوال ۴.۲۴۰: $g(x) = \frac{1}{8-\frac{5}{x^2}}$

سوال ۴.۲۴۱: $h(x) = \frac{-5+\frac{7}{x}}{3-\frac{1}{x^2}}$

سوال ۴.۲۴۲: $h(x) = \frac{3-\frac{2}{x}}{4+\frac{\sqrt{2}}{x^2}}$

سوال ۴.۲۴۳ تا سوال ۴.۲۴۶ میں حد تلاش کریں۔

سوال ۴.۲۴۳: $\lim\limits_{x\to\infty} \frac{\sin 2x}{x}$

سوال ۴.۲۴۴: $\lim\limits_{\theta\to\infty} \frac{\cos\theta}{3\theta}$

سوال ۴.۲۴۵: $\lim\limits_{t\to-\infty} \frac{2-t+\sin t}{t+\cos t}$

سوال ۴.۲۴۶: $\lim\limits_{r\to\infty} \frac{r+\sin r}{2r+7-5\sin r}$

ناطق تفاعل کی حد

سوال ۴.۲۴۷ تا سوال ۴.۲۶۰ میں دیے ناطق تفاعل کی (ا) $x \to \infty$ اور (ب) $x \to -\infty$ پر حد تلاش کریں۔

سوال ۴.۲۴۷: $f(x) = \frac{2x+3}{5x+7}$

سوال ۴.۲۴۸: $f(x) = \frac{2x^3+7}{x^3-x^2+x+7}$

سوال ۴.۲۴۹: $f(x) = \frac{x+1}{x^2+3}$

سوال ۴.۲۵۰: $f(x) = \frac{3x+7}{x^2-2}$

سوال ۴.۲۵۱: $f(x) = \frac{1-12x^3}{4x^2+12}$

سوال ۴.۲۵۲: $g(x) = \frac{1}{x^3-4x+1}$

سوال ۴.۲۵۳: $h(x) = \frac{7x^3}{x^3-3x^2+6x}$

سوال ۴.۲۵۴: $g(x) = \frac{3x^2-6x}{4x-8}$

سوال ۴.۲۵۵: $f(x) = \frac{2x^5+3}{-x^2+x}$

سوال ۴.۲۵۶: $g(x) = \frac{10x^5+x^4+31}{x^6}$

سوال ۴.۲۵۷: $g(x) = \frac{x^4}{x^3+1}$

سوال ۴.۲۵۸: $h(x) = \frac{9x^4+x}{2x^4+5x^2-x+6}$

سوال ۴.۲۵۹: $h(x) = \frac{-2x^3-2x+3}{3x^3+3x^2-5x}$

سوال ۴.۲۶۰: $h(x) = \frac{-x^4}{x^4-7x^3+7x^2+9}$

حد برائے غیر عدد صحیح طاقت یا منفی طاقت

ایسی نسبت جس کی نسب نما اور شمار کنندہ میں غیر عدد صحیح یا منفی طاقت پائی جاتی ہوں کی حد بالکل ناطق تفاعل کی حد کی طرح تلاش کی جاتی ہے۔ نسب نما میں x کی بلند تر طاقت سے نسب نما اور شمار کنندہ کو تقسیم کرتے ہوئے آگے بڑھیں۔ سوال ۴.۲۶۱ تا سوال ۴.۲۶۶ میں حد تلاش کریں۔

سوال ۴.۲۶۱: $\lim\limits_{x\to\infty} \frac{2\sqrt{x}+x^{-1}}{3x-7}$

سوال ۴.۲۶۲: $\lim\limits_{x\to\infty} \frac{2+\sqrt{x}}{2-\sqrt{x}}$

سوال ۴.۲۶۳: $\lim\limits_{x\to-\infty} \frac{\sqrt[3]{x}-\sqrt[5]{x}}{\sqrt[3]{x}+\sqrt[5]{x}}$

سوال ۴.۲۶۴: $\lim\limits_{x\to\infty} \frac{x^{-1}+x^{-4}}{x^{-2}-x^{-3}}$

سوال ۴.۲۶۵: $\lim\limits_{x\to\infty} \frac{2x^{5/3}-x^{1/3}+7}{x^{8/5}+3x+\sqrt{x}}$

سوال ۴.۲۶۶: $\lim_{x\to-\infty} \frac{\sqrt[3]{x}-5x+3}{2x+x^{2/3}-4}$

قیمتوں اور حد سے ترسیم کا حصول

سوال ۴.۲۶۷ تا سوال ۴.۲۷۰ میں دیے شرائط پر پورا اترتی ترسیم کا خاکہ بنائیں۔ ترسیم کا کلیہ درکار نہیں ہے لہٰذا کار تیسی محدد پر ایسی ترسیم کھینچیں جو دیے شرائط پر پورا اترتی ہو۔ (ان شرائط کو کئی ترسیمات مطمئن کر سکتی ہیں لہٰذا آپ کے ترسیمات دیے گئے جوابی ترسیمات سے مختلف ہو سکتی ہیں۔)

سوال ۴.۲۶۷: $f(0)=0, f(1)=2, f(-1)=-2, \lim_{x\to-\infty}=-1, \lim_{x\to\infty}=1$

سوال ۴.۲۶۸: $f(0)=0, \lim_{x\to\mp\infty} f(x)=0, \lim_{x\to0^+}=2, \lim_{x\to0^-}=-2$

سوال ۴.۲۶۹: $f(0)=0, \lim_{x\to\mp\infty} f(x)=0, \lim_{x\to1^-} f(x)=\lim_{x\to-1^+} f(x)=\infty,$
$\lim_{x\to1^+} f(x)=-\infty, \lim_{x\to-1^-} f(x)=-\infty$

سوال ۴.۲۷۰: $f(2)=1, f(-1)=0, \lim_{x\to\infty} f(x)=0, \lim_{x\to0^+} f(x)=\infty,$
$\lim_{x\to0^-} f(x)=-\infty, \lim_{x\to-\infty} f(x)=1$

تفاعل کی ایجاد

سوال ۴.۲۷۱ تا سوال ۴.۲۷۴ میں ایسا تفاعل تلاش کریں جو دیے گئے شرائط کو مطمئن کرتا ہو اور اس تفاعل کو ترسیم کریں۔ (چونکہ کئی تفاعل ان شرائط کو مطمئن کر سکتے ہیں لہٰذا آپ کے جوابات دیے گئے جوابات سے مختلف ہو سکتے ہیں۔ آپ ٹکڑوں میں تفاعل کے کلیات استعمال کر سکتے ہیں۔)

سوال ۴.۲۷۱: $\lim_{x\to\mp\infty} f(x)=0, \lim_{x\to2^-} f(x)=\infty, \lim_{x\to2^+} f(x)=\infty$

سوال ۴.۲۷۲: $\lim_{x\to\mp\infty} g(x)=0, \lim_{x\to3^-} g(x)=-\infty, \lim_{x\to3^+} g(x)=\infty$

سوال ۴.۲۷۳: $\lim_{x\to-\infty} h(x)=-1, \lim_{x\to\infty} h(x)=1, \lim_{x\to0^-} h(x)=-1, \lim_{x\to0^+} h(x)=1$

سوال ۴.۲۷۴: $\lim_{x\to\mp\infty} k(x)=1, \lim_{x\to1^-} k(x)=\infty, \lim_{x\to1^+}(x)=-\infty$

ناطق تفاعل کی ترسیم

سوال ۴.۲۷۵ تا سوال ۴.۳۰۲ میں دیے گئے ناطق تفاعل ترسیم کریں۔ متقارب خطوط اور غالب اجزاء کی ترسیمات بھی شامل کریں۔

سوال ۴.۲۷۵: $y=\frac{1}{x-1}$

سوال ۴.۲۷۶: $y=\frac{1}{x+1}$

سوال ۴.۲۷۷: $y=\frac{1}{2x+4}$

۵۴۰۹ سوال ۴.۲۷۸: $y = \frac{-3}{x-3}$

۵۴۱۰ سوال ۴.۲۷۹: $y = \frac{x+3}{x+2}$

۵۴۱۱ سوال ۴.۲۸۰: $y = \frac{2x}{x+1}$

۵۴۱۲ سوال ۴.۲۸۱: $y = \frac{2x^2+x-1}{x^2-1}$

۵۴۱۳ سوال ۴.۲۸۲: $y = \frac{x^2-49}{x^2+5x-14}$

۵۴۱۴ سوال ۴.۲۸۳: $y = \frac{x^2-1}{x}$

۵۴۱۵ سوال ۴.۲۸۴: $y = \frac{x^2+4}{2x}$

۵۴۱۶ سوال ۴.۲۸۵: $y = \frac{x^4+1}{x^2}$

۵۴۱۷ سوال ۴.۲۸۶: $y = \frac{x^3+1}{x^2}$

۵۴۱۸ سوال ۴.۲۸۷: $y = \frac{1}{x^2-1}$

۵۴۱۹ سوال ۴.۲۸۸: $y = \frac{x^2}{x^2-1}$

۵۴۲۰ سوال ۴.۲۸۹: $y = -\frac{x^2-2}{x^2-1}$

۵۴۲۱ سوال ۴.۲۹۰: $y = \frac{x^2-4}{x^2-2}$

۵۴۲۲ سوال ۴.۲۹۱: $y = \frac{x^2}{x-1}$

۵۴۲۳ سوال ۴.۲۹۲: $y = -\frac{x^2}{x+1}$

۵۴۲۴ سوال ۴.۲۹۳: $y = \frac{x^2-4}{x-1}$

۵۴۲۵ سوال ۴.۲۹۴: $y = -\frac{x^2-4}{x+1}$

۵۴۲۶ سوال ۴.۲۹۵: $y = \frac{x^2-x+1}{x-1}$

۵۴۲۷ سوال ۴.۲۹۶: $y = -\frac{x^2-x+1}{x-1}$

۵۴۲۸ سوال ۴.۲۹۷: $y = \frac{x^3-3x^2+3x-1}{x^2+x-2}$

۵۴۲۹ سوال ۴.۲۹۸: $y = \frac{x^3+x-2}{x-x^2}$

۵۴۳۰ سوال ۴.۲۹۹: $y = \frac{x}{x^2-1}$

۵۴۳۱ سوال ۴.۳۰۰: $y = \frac{x-1}{x^2(x-2)}$

۵۳۳۲ سوال ۴.۳۰۱: $y = \frac{8}{x^2+4}$

۵۳۳۳ سوال ۴.۳۰۲: $y = \frac{4x}{x^2+4}$

۵۳۳۴ **کمپیوٹر کا استعمال**

۵۳۳۵ سوال ۴.۳۰۳ تا سوال ۴.۳۰۸ کو کمپیوٹر پر ترسیم کریں۔ تفاعل کے کلیہ اور ترسیم کا تعلق سمجھائیں۔

۵۳۳۶ سوال ۴.۳۰۳: $y = \frac{x}{\sqrt{4-x^2}}$

۵۳۳۷ سوال ۴.۳۰۴: $y = \frac{-1}{\sqrt{4-x^2}}$

۵۳۳۸ سوال ۴.۳۰۵: $y = x^{2/3} + \frac{1}{x^{1/3}}$

۵۳۳۹ سوال ۴.۳۰۶: $y = 2\sqrt{x} + \frac{2}{\sqrt{x}} - 3$

۵۳۴۰ سوال ۴.۳۰۷: $y = \sin(\frac{\pi}{x^2+1})$

۵۳۴۱ سوال ۴.۳۰۸: $y = -\cos(\frac{\pi}{x^2+1})$

۵۳۴۲ **اجزاء کی ترسیمات**

۵۳۴۳ سوال ۴.۳۰۹ تا سوال ۴.۳۱۲ میں تفاعل کے اجزاء کو انفرادی ایک ساتھ ترسیم کریں۔ ان ترسیمات کو دیکھتے ہوئے تفاعل کا خاکہ کھینچیں۔

۵۳۴۴ سوال ۴.۳۰۹: $y = \sec x + \frac{1}{x}, \quad -\frac{\pi}{2} < x < \frac{\pi}{2}$

۵۳۴۵ سوال ۴.۳۱۰: $y = \sec x - \frac{1}{x^2}, \quad -\frac{\pi}{2} < x < \frac{\pi}{2}$

۵۳۴۶ سوال ۴.۳۱۱: $y = \tan x + \frac{1}{x^2}, \quad -\frac{\pi}{2} < x < \frac{\pi}{2}$

۵۳۴۷ سوال ۴.۳۱۲: $y = \frac{1}{x} - \tan x, \quad -\frac{\pi}{2} < x < \frac{\pi}{2}$

۵۳۴۸ **نظریہ اور مثالیں**

۵۳۴۹ سوال ۴.۳۱۳: $f(x) = \frac{x^3+x^2}{x^2+1}$ لیں۔ دکھائیں کہ ایسا c پایا جاتا ہے کہ $f(c)$ کی قیمت درج ذیل ہو۔

۵۳۵۰ ا. -2 ۵۳۵۱ ب. $\cos 3$ ۵۳۵۲ ج. $5\,000\,000$

۵۳۵۳ سوال ۴.۳۱۴: $\lim\limits_{x\to\infty}(\sqrt{x^2+x} - \sqrt{x^2-x})$ تلاش کریں۔

۵۳۵۴ سوال ۴.۳۱۵: تشاکلی۔ فرض کریں وقفہ $x > 0$ پر جفت تفاعل بڑھتا ہے۔ وقفہ $x < 0$ پر تفاعل کا رویہ کیا ہو گا؟

۵۳۵۵ سوال ۴.۳۱۶: تشاکلی۔ فرض کریں وقفہ $x < 0$ پر جفت تفاعل بڑھتا ہے۔ وقفہ $x > 0$ پر تفاعل کا رویہ کیا ہو گا؟

۵۳۵۶ سوال ۴.۳۱۷: فرض کریں $f(x)$ اور $g(x)$ کثیر رکنی ہیں اور $\lim_{x\to\infty} \frac{f(x)}{g(x)} = 2$ ہے۔ کیا $\lim_{x\to-\infty} \frac{f(x)}{g(x)}$ کے بارے

۵۳۵۷ میں کچھ اخذ کرنا ممکن ہے؟ اپنے جواب کی وجہ بین کریں۔

سوال ۴.۳۱۸: فرض کریں $f(x)$ اور $g(x)$ کثیر رکنی ہیں۔ اگر $g(x)$ کبھی بھی صفر نہیں ہو تب کیا $\frac{f(x)}{g(x)}$ کی ترسیم کا متقارب ہو گا؟ اپنے جواب کی وجہ پیش کریں۔

سوال ۴.۳۱۹: دیے گئے ناطق تفاعل کے کتنے افقی متقارب ہو سکتے ہیں؟ اپنے جواب کی وجہ پیش کریں۔

سوال ۴.۳۲۰: دیے گئے ناطق تفاعل کے کتنے انتصابی متقارب ہو سکتے ہیں؟ اپنے جواب کی وجہ پیش کریں۔

سوال ۴.۳۲۱:

ا. ایک ترسیم اپنے متقاربی خط کو قطع کر سکتی ہے۔ منحنی $y = 2 + \frac{\sin x}{x}$ (مثال ۴.۳۰) متقاربی خط کو لا متناہی مرتبہ قطع کرتی ہے۔ دکھائیں کہ $x \to \infty$ پر اس ترسیم کا ڈھلوان متقاربی خط کے ڈھلوان تک پہنچتا ہے۔

ب. درج ذیل خواص رکھنے والے تفاعل $f(x)$ کی مثال پیش کریں۔

۱) $x > 0$ پر f قابل تفرق ہے۔

۲) $\lim_{x\to\infty} f(x) = 2$

۳) $\lim_{x\to\infty} f'(x)$ غیر موجود ہے۔

سوال ۴.۳۲۲: ہم درج ذیل تفاعل کی متقاربی خط تلاش کرنا چاہتے ہیں۔

$$y = \frac{x^2+3x+7}{x+2}$$

ایسا کرنے کی خاطر ہم اس تفاعل کو کثیر رکنی اور حاصل تقسیم کا مجموعہ لکھتے ہیں

$$\frac{x^2+3x+7}{x+2} = x+1+\frac{5}{x+2}$$

جس کی ترچھی متقارب $y = x+1$ ہے۔

اگر ہم نسب نما اور شمار کنندہ کو x سے تقسیم کریں تب

$$\frac{x^2+3x+7}{x+2} = \frac{x+3+\frac{7}{x}}{1+\frac{2}{x}}$$

ملتا ہے جس کی متقارب $y = x+3$ ہے۔

ان میں سے کون کا خط متقارب ہے؟ اپنے جواب کی وجہ پیش کریں۔

سوال ۴.۳۲۳ اور سوال ۴.۳۲۴ میں حد کی باضابطہ تعریف استعمال کرتے ہوئے $x \to \mp\infty$ پر دی گئی حد کی تصدیق کریں۔

سوال ۴.۳۲۳: اگر f کی قیمت مستقل ہو $f(x) = k$ تب $\lim_{x\to\infty} f(x) = k$ ہو گا۔

سوال ۴.۳۲۴: اگر f کی قیمت مستقل ہو $f(x) = k$ تب $\lim_{x\to-\infty} f(x) = k$ ہو گا۔

۵۴۷۸ **کمپیوٹر ترسیمات کے مزید مشاہدے**

۵۴۷۹ سوال ۴.۳۲۵ تا سوال ۴.۳۲۸ میں تفاعل ترسیم کریں۔ ان تفاعل کے متقاربی خط تلاش کریں۔ متقاربی خط جہاں ہیں، اس کی وجہ پیش کریں۔

۵۴۸۰ سوال ۴.۳۲۵: $y = -\frac{x^2-4}{x+1}$

۵۴۸۱ سوال ۴.۳۲۶: $y = \frac{x^2+x-6}{2x-2}$

۵۴۸۲ سوال ۴.۳۲۷: $y = \frac{x^3-x^2-1}{x^2-1}$

۵۴۸۳ سوال ۴.۳۲۸: $y = \frac{x^3-2x^2+x+1}{x-x^2}$

۵۴۸۴ سوال ۴.۳۲۹ تا سوال ۴.۳۳۴ میں تفاعل کی ترسیم کے ساتھ غالب اجزاء بھی ترسیم کریں۔ تفاعل کی ترسیم اور غالب اجزاء کی ترسیمات کا تعلق بیان کریں۔

۵۴۸۵ سوال ۴.۳۲۹: $y = x^3 + \frac{3}{x}$

۵۴۸۶ سوال ۴.۳۳۰: $y = x^3 - \frac{3}{x}$

۵۴۸۷ سوال ۴.۳۳۱: $y = 2\sin x + \frac{1}{x}$

۵۴۸۸ سوال ۴.۳۳۲: $y = 2\cos x - \frac{1}{x}$

۵۴۸۹ سوال ۴.۳۳۳: $y = \frac{x^2}{2} + 3\sin 2x$

۵۴۹۰ سوال ۴.۳۳۴: $y = (x-1)^{11} + 2\sin 2\pi x$

۵۴۹۱ سوال ۴.۳۳۵ اور سوال ۴.۳۳۶ کا تفاعل ترسیم کریں۔ اس کے بعد درج ذیل کے جوابات دیں۔

۵۴۹۲ ا. $x \to 0^+$ اور $x \to 0^-$ پر ترسیم کا رویہ کیسا ہے؟

۵۴۹۳ ب. $x \to \mp\infty$ پر ترسیم کا رویہ کیسا ہے؟

۵۴۹۴ ج. $x \to 1$ اور $x \to -1$ پر ترسیم کا رویہ کیسا ہے؟

۵۴۹۵ اپنے جوابات کی وجہ پیش کریں۔

۵۴۹۶ سوال ۴.۳۳۵: $y = \frac{3}{2}(x - \frac{1}{x})^{2/3}$

۵۴۹۷ سوال ۴.۳۳۶: $y = \frac{3}{2}(\frac{x}{x-1})^{2/3}$

۵۴۹۸ سوال ۴.۳۳۷: تفاعل $y = -\frac{x^3-2}{x^2+1}$ کو درج ذیل وقفوں پر ترسیم کریں۔

۵۴۹۹ ا. $-9 \le x \le 9$ ۵۵۰۰ ب. $-90 \le x \le 90$ ۵۵۰۱ ج. $-900 \le x \le 900$

۵۵۰۲ جزو-1 کی ترسیم بہترین ہو گی۔ جزو-ب میں مبدا کے قریب کچھ ہو گا جو بہتر نظر نہیں آئے گا جبکہ جزو-ج کی ترسیم عین $y = -x$ کی ترسیم نظر آئے گی۔

۵۵۰۳ ایسا کیوں ہے؟

سوال ۴.۳۳۸: تفاعل $y = \frac{x^{2/3}}{x^2-1}$ کو وقفہ $-2 \leq x \leq 2$ پر ترسیم کریں۔ $x = -1$ اور $x = 1$ کے بیچ ترسیم نیچے مقعر نظر آئے گی اور مبدا پر کوئی کنگرہ نظر نہیں آئے گا۔ مبدا کے بالکل قریب وقفہ پر ترسیم کرتے ہوئے مبدا پر کنگرہ نمودار ہوتا ہے۔ پہلی ترسیم میں کنگرہ کیوں نظر نہیں آیا؟

لامتناہی پر حد واضح کرنا

بعض اوقات متغیرات کی تبدیلی سے ایسا تفاعل حاصل ہوتا ہے جس کی حد تلاش کرنا ہمیں آتا ہے۔ مثال کے طور پر

$$\lim_{x\to\infty} \sin\frac{1}{x} = \lim_{\theta\to 0^+} \sin\theta \qquad (\theta = \tfrac{1}{x})$$

آپ دیکھ سکتے ہیں کہ لامتناہی پر حد کو یوں کمپیوٹر پر دیکھا جا سکتا ہے۔ سوال ۴.۳۴۴ تا سوال ۴.۳۳۹ میں یوں اس طرح کا طریقہ بیان کریں تاکہ ترسیم پر حد کو دیکھا جا سکے۔ ان حدود کو تلاش کریں۔

سوال ۴.۳۳۹: $\lim_{x\to\mp\infty} x\sin\frac{1}{x}$

سوال ۴.۳۴۰: $\lim_{x\to-\infty} \frac{\cos\frac{1}{x}}{1+\frac{1}{x}}$

سوال ۴.۳۴۱: $\lim_{x\to\mp\infty} \frac{3x+4}{2x-5}$

سوال ۴.۳۴۲: $\lim_{x\to\infty} (\frac{1}{x})^{1/x}$

سوال ۴.۳۴۳: $\lim_{x\to\mp\infty} (3+\frac{2}{x})(\cos\frac{1}{x})$

سوال ۴.۳۴۴: $\lim_{x\to\infty} (\frac{3}{x^2}-\cos\frac{1}{x})(1+\sin\frac{1}{x})$

۴.۶ بہترین بنانا

کسی چیز کو بہترین بنانے سے مراد اس چیز کی کسی خاصیت کو کم سے کم یا زیادہ سے زیادہ بنانا ہے۔ تیل کے ڈبے کی کون سی شکل بنانے پر کم تر لاگت آتی ہے؟ 30 cm قطر لکڑ سے کتنی مضبوط ترین شہتیر حاصل کی جا سکتی ہے؟ حسابی نمونہ استعمال کرتے ہوئے اس طرز کے سوالات کے جواب حاصل کرنے کی خاطر ہم تفاعل کی کم سے کم یا زیادہ سے زیادہ قیمت تلاش کرتے ہیں۔

کاروبار اور صنعتی مثالیں

مثال ۴.۳۳: دھاتی چادر کا استعمال

ایک چوکور چادر جس کا ضلع 30 cm ہے کے کونوں سے چھوٹے چوکور کاٹ کر، اطراف کو اوپر موڑتے ہوئے کھلا ڈبہ بنایا جاتا ہے۔ کونوں سے کس جسامت کے چوکور کاٹ کر زیادہ سے زیادہ حجم کا ڈبہ حاصل ہو گا؟

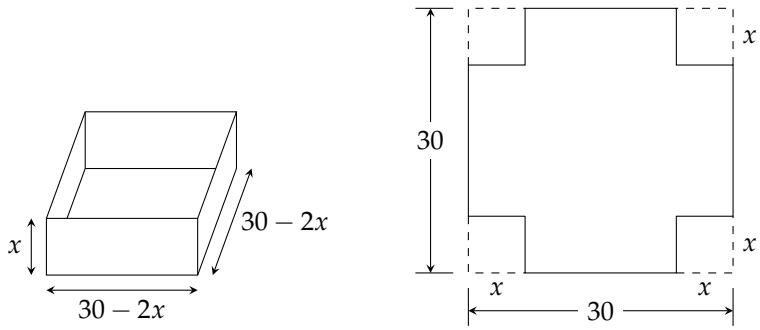

شکل ۴.۷۱: چادر سے ڈبہ بنانا (مثال ۴.۳۳)۔

۵۵۲۷ حل: شکل ۴.۷۱ میں کٹا ہوا چادر دکھایا گیا ہے۔ کٹے ہوئے چوکور کا ضلع x سنٹی میٹر ہے۔ یوں ڈبے کا حجم H مربع سنٹی میٹر

$$H(x) = x(30-2x)^2 = 4x^3 - 120x^2 + 900x$$

۵۵۲۸ ہوگا۔ چونکہ چادر کے ضلع 30 cm ہے لہٰذا $0 \leq x \leq 15$ ہوگا جو تفاعل H کا دائرہ کار ہے۔

۵۵۲۹ شکل ۴.۷۲ میں حجم بالمقابل x دکھایا گیا ہے جس کے تحت $x = 0$ اور $x = 15$ پر حجم صفر ہوگا۔ زیادہ سے زیادہ حجم تلاش کرنے کی خطر x کے لحاظ
۵۵۳۰ سے H کے تفرق کو صفر کے برابر پر کرتے ہوئے حل کرتے ہیں۔

$$\frac{\mathrm{d}H}{\mathrm{d}x} = 12x^2 - 240x + 900 = 12(x-15)(x-5) = 0,$$

۵۵۳۱ یوں $x = 5$ اور $x = 15$ ملتا ہے جن میں سے صرف $x = 5$ دائرہ کار کے اندر پایا جاتا ہے۔ اس نقطہ فاصل اور دائرہ کار کے دو آخری نقطوں پر
۵۵۳۲ H کی قیمتیں درج ذیل ہیں۔

$H(5) = 2000,$	نقطہ فاصل
$H(0) = 0, \quad H(15) = 0$	آخری نقطے

۵۵۳۳ یوں زیادہ سے زیادہ حجم $2000\,\mathrm{cm}^3$ ہے جو 5 cm ضلع چوکور کاٹنے سے ملے گا۔ □

۵۵۳۴ مثال ۴.۳۴: بیلن
۵۵۳۵ آپ کو ایک لٹر تیل کا بلینی ڈبہ بنانے کو کہا گیا ہے۔ کم سے کم ٹین کی چادر استعمال کرتے ہوئے ڈبہ بنائیں۔

۵۵۳۶ حل: ٹین ڈبے کی لمبائی h اور اس کا رداس r لیتے ہیں (شکل ۴.۷۳)۔ اگر h اور r کی ناپ سنٹی میٹر میں ہو تب

$$H = \pi r^2 * h = 1000 \qquad (1000\,\mathrm{cm}^3 = \text{ایک لٹر}) \tag{۱}$$

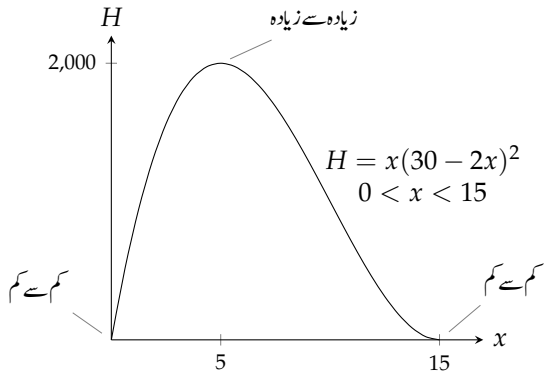

شکل ۴.۷۲: حجم بالمقابل x (مثال ۴.۳۳)۔

درکار ہے۔ کم سے کم ٹین استعمال کرنے سے کیا مراد ہے؟ اس سے ایک مطلب ٹین کی موٹائی اور ڈبے کی تیاری میں ٹین کے ضیاع کو نظرانداز کرتے ہوئے کم سے کم چادر کا استعمال ہو سکتا ہے۔ (سوال ۴.۳۶۲ میں ٹین کے ضیاع کو شامل کیا گیا ہے۔) ہم یہی مطلب لیتے ہوئے حل کرتے ہیں۔ بیلن میں استعمال چادر کا سطحی رقبہ

$$S = \underbrace{2\pi r^2}_{\text{بیلن کے دو سر}} + \underbrace{2\pi rh}_{\text{بیلنی دیوار}} \tag{۲}$$

ہے جس کو کم سے کم بنانا مقصود ہے اور ساتھ ہی ساتھ $\pi r^2 h = 1000$ کی شرط کو مطمئن کرنا ضروری ہے۔

مساوات ۲ میں دو آزاد متغیر ہیں۔ نقطہ فاصل معلوم کرنے کی خاطر ہمیں ایسا تفاعل چاہیے جس میں ایک آزاد متغیر ہو۔ ہم مساوات ۱ اور مساوات ۲ کو ملا کر ایک متغیر کو خارج کر سکتے ہیں۔

ہم مساوات ۱ کو h کے لئے حل کرتے ہوئے

$$h = \frac{1000}{\pi r^2}$$

اس کو مساوات ۲ میں پر کرتے ہوئے h سے چھٹکارہ حاصل کرتے ہیں۔

$$S = 2\pi r^2 + 2\pi rh = 2\pi r^2 + 2\pi r\frac{1000}{\pi r^2} = 2\pi r^2 + \frac{2000}{r}$$

r کی چھوٹی قیمت کے لئے $\frac{2000}{r}$ جزو غالب ہو گا جس کی وجہ سے S کی قیمت بڑی ہو گی۔ ٹین کا ڈبہ نلکی یا پائپ نما ہو گا۔ r کی بڑی قیمت کے لئے $2\pi r^2$ جزو غالب ہو گا جس کی وجہ سے S کی قیمت بڑی ہو گی۔ ٹین کا ڈبہ چپٹی صورت کا ہو گا۔ r کی مذکورہ بالا قیمتوں کے بیچ کہیں سطحی رقبہ کم سے کم حاصل ہو گا۔

۵۵۴۸ S اپنے پورے دائرہ کار $(0, r)$ میں قابل تفرق ہے لہٰذا کم سے کم S قیمت تلاش کرنے کی خاطر اس کے تفرق کو صفر کے برابر پر کرتے ہوئے نقطہ
۵۵۴۹ فاصل r کے لئے حل کرتے ہیں۔

$$
\begin{aligned}
S &= 2\pi r^2 + \frac{2000}{r} \\
\frac{\mathrm{d}S}{\mathrm{d}r} &= 4\pi r - \frac{2000}{r^2} && \text{تفرق} \\
4\pi r - \frac{2000}{r^2} &= 0 && \text{تفرق کو صفر کے برابر پر کرتے ہیں} \\
4\pi r^3 &= 2000 && r \text{ کے لئے حل کریں} \\
r &= \sqrt[3]{\frac{500}{\pi}} && \text{نقطہ فاصل}
\end{aligned}
$$

۵۵۵۰ اگر دائرہ کار کے آخری سر پائے جاتے تب ہم نقطہ فاصل اور آخری سروں پر تفاعل کی قیمت حاصل کرتے ہوئے دیکھتے کہ S کی کم سے کم قیمت کتنی ہے اور
۵۵۵۱ کہاں پائی جاتی ہے۔ چونکہ دائرہ کار بند وقفہ نہیں ہے لہٰذا اس کے آخری سر نہیں پائے جاتے ہیں لہٰذا ہمیں $r = \sqrt[3]{\frac{500}{\pi}}$ کے قریب تفاعل کا رویہ دیکھنا ہو
۵۵۵۲ گا۔ ہم تفاعل کا دور تبی تفرق

$$
\begin{aligned}
\frac{\mathrm{d}S}{\mathrm{d}r} &= 4\pi r - \frac{2000}{r} \\
\frac{\mathrm{d}^2 S}{\mathrm{d}r^2} &= 4\pi + \frac{4000}{r^2}
\end{aligned}
$$

۵۵۵۳ پر غور کرتے ہیں جو S کی پورے دائرہ کار پر مثبت ہے (شکل ۴.۷۳)۔ یوں پورے دائرہ کار پر S کی ترسیم اوپر مقعر ہو گی اور $r = \sqrt[3]{\frac{500}{\pi}}$ پر S کی
۵۵۵۴ قیمت کم سے کم ہو گی۔ جب

$$
\begin{aligned}
r &= \sqrt[3]{\frac{500}{\pi}} \\
h &= \frac{1000}{\pi r^2} = 2\sqrt[3]{\frac{500}{\pi}} = 2r
\end{aligned}
$$

۵۵۵۵ ہو۔ اس کے تحت کم سے کم ٹین کی چادر استعمال کرتے ہوئے ڈبہ بنانے کی خاطر ڈبے کی لمبائی اور قطر ایک دوسرے کے برابر ہونا ضروری ہے۔ یوں درج ذیل
۵۵۵۶ ہوں گے۔

$$r \approx 5.42\,\mathrm{cm}, \quad h \approx 10.84\,\mathrm{cm}$$

۵۵۵۷ □

۵۵۵۸ کم سے کم اور زیادہ سے زیادہ قیمت مسائل حل کرنے کا لائحہ عمل

۵۵۵۹ ۱. مسئلہ پڑھیں۔ مسئلہ پڑھ کر دیکھیں کہ کون سی معلومات دی گئی ہے؟ کون سی نہیں دی گئی ہے؟ کیا مطلوب ہے؟

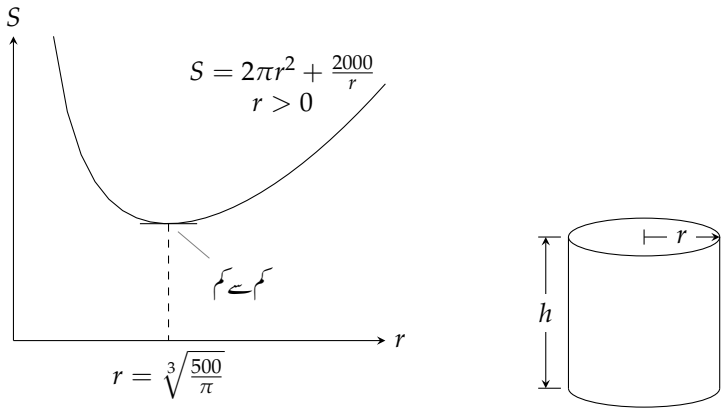

شکل ۴.۷۳: ٹین کا ڈبہ (مثال ۴.۳۴)

۵۵۶۰ ۲. تصویر بنائیں اور اہم حصوں کی نشاندہی کریں۔

۵۵۶۱ ۳. متغیرات متعارف کریں۔ تصویر اور مسئلہ میں ہر تعلق کو مساوات کی صورت میں لکھیں۔

۵۵۶۲ ۴. نامعلوم متغیر کی نشاندہی کریں اور اس کی مساوات لکھیں۔ کوشش کریں کہ نامعلوم کو صرف ایک متغیر یا دو متغیرات کی صورت میں لکھیں۔ ایسا کرنے میں
۵۵۶۳ آپ کو کہیں مساوات سے باقی متغیرات خارج کرنے ہوں گے۔

۵۵۶۴ ۵. نقطہ فاصل اور آخری نقطوں کی جانچ۔ یک رتبی اور دو رتبی تفرق سے نقطہ فاصل (جہاں $f' = 0$ یا غیر معین ہو گا) تلاش کریں اور تفاعل کا مقعر دریافت
۵۵۶۵ کریں۔

۵۵۶۶ ریاضیات سے چند مثالیں

۵۵۶۷ مثال ۴.۳۵: اعداد کا حاصل ضرب
۵۵۶۸ ایسے دو مثبت اعداد تلاش کریں کی ان کا مجموعہ 20 اور حاصل ضرب زیادہ سے زیادہ ہو۔

۵۵۶۹ حل: اگر پہلا عدد x ہو تب دوسرا عدد $20 - x$ ہو گا اور ان کا حاصل ضرب

$$f(x) = x(20 - x) = 20x - x^2$$

۵۵۷۰ ہو گا جو زیادہ سے زیادہ مطلوب ہے۔ f کا دائرہ کار بند وقفہ $0 \leq x \leq 20$ ہے۔

۵۵۷۱ ہم نقطہ فاصل اور آخری نقطوں پر f کی قیمت حاصل کرتے ہیں۔ یک رتبی تفرق

$$f'(x) = 20 - 2x$$

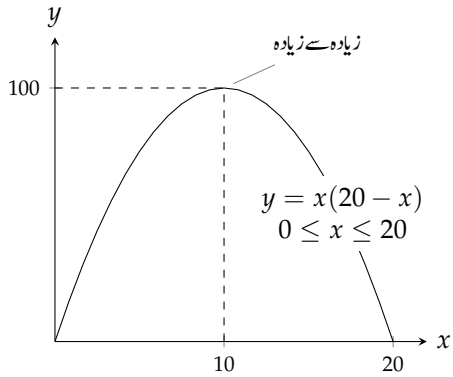

شکل ۴.۷۴: x اور $(20 - x)$ کے حاصل ضرب کی زیادہ سے زیادہ قیمت 100 ہے (مثال ۴.۳۵)۔

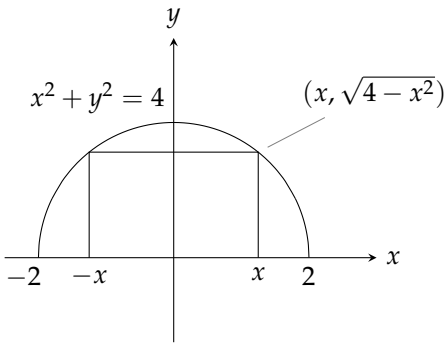

شکل ۴.۷۵: نصف دائرہ اور مستطیل (مثال ۴.۳۶)۔

۵۵۷۲ پورے وقفہ $0 \le x \le 20$ پر معین ہے اور صرف $x = 10$ پر صفر ہے۔ اس نقطہ فاصل اور آخری سروں پر تفاعل کی قیمتیں

$$f(10) = 10(20 - 10) = 100$$
$$f(0) = 0, \quad f(20) = 0$$

۵۵۷۳ ہیں۔ یوں $f(10) = 100$ زیادہ سے زیادہ قیمت ہو گی اور درکار اعداد 10 اور $(20 - 10) = 10$ ہوں گے (شکل ۴.۷۴)۔ □

۵۵۷۴ مثال ۴.۳۶: جیومیٹری

۵۵۷۵ رداس 2 کے نصف دائرے میں ایسا مستطیل بنانا ہے کہ اس کا رقبہ زیادہ سے زیادہ ہو۔ مستطیل کا زیادہ سے زیادہ رقبہ کیا ہو گا اور اس کے اضلاع کیا ہوں گے؟

۵۵۷۶ حل: نصف دائرے کو کارتیسی محدد کے مبدا پر رکھتے ہوئے اس کے اندر مستطیل کو شکل ۴.۷۵ میں دکھایا گیا ہے۔ مستطیل کا نچلا دایاں کونا x پر ہے۔ ہم

۵۵۷۷ مستطیل کے اضلاع اور رقبہ S کو x کی صورت میں لکھتے ہیں۔

$$\text{لمبائی} : 2x, \quad \text{چوڑائی} : \sqrt{4 - x^2}, \quad \text{رقبہ} : 2x\sqrt{4 - x^2}$$

۵۵۷۸ آپ دیکھ سکتے ہیں کہ x (مستطیل کا منتخب کونا) کی قیمت وقفہ $0 \le x \le 2$ میں پائی جاتی ہے۔

۵۵۷۹ ہمیں استمراری تفاعل

$$S = 2x\sqrt{4 - x^2}$$

۵۵۸۰ کی مطلق زیادہ سے زیادہ قیمت وقفہ $[0, 2]$ پر تلاش کرنی ہے۔ ہم نقطہ فاصل اور دائرہ کار کے آخری نقطوں پر S کی قیمت معلوم کرتے ہیں۔ تفاعل S کا

۵۵۸۱ تفرق

$$\frac{\mathrm{d}S}{\mathrm{d}x} = \frac{-2x^2}{\sqrt{4 - x^2}} + 2\sqrt{4 - x^2}$$

۵۵۸۲ نقطہ $x = 2$ پر غیر معین اور درج ذیل نقطوں پر صفر ہے۔

$$\frac{-2x^2}{\sqrt{4-x^2}} + 2\sqrt{4-x^2} = 0$$

$$-2x^2 + 2(4-x^2) = 0 \qquad \text{دونوں اطراف کو } \sqrt{4-x^2} \text{ سے ضرب دیں}$$

$$8 - 4x^2 = 0$$

$$x^2 = 2$$

$$x = \mp\sqrt{2}$$

۵۵۸۳ $x = -\sqrt{2}$ اور $x = \sqrt{2}$ میں سے صرف $x = \sqrt{2}$ تفاعل کے دائرہ کار کے اندر پایا جاتا ہے لہٰذا یہ صفر نقطہ فاصل ہے۔ دائرہ کار کی آخری
۵۵۸۴ نقطوں اور اس اکلوتے نقطہ فاصل پر تفاعل کی قیمتیں درج ذیل ہیں۔

$$S(\sqrt{2}) = 2\sqrt{2}\sqrt{4-2} = 4 \qquad \text{نقطہ فاصل پر قیمت}$$

$$S(0) = 0, \quad S(2) = 0 \qquad \text{آخری نقطوں پر قیمت}$$

۵۵۸۵ یوں مستطیل کا زیادہ سے زیادہ رقبہ 4 ہے جب اس کی لمبائی $2x = 2\sqrt{2}$ اور چوڑائی $\sqrt{4-x^2} = \sqrt{2}$ ہو گی۔ □

۵۵۸۶ **پیغ دفغما اور قانون ابن سھل**

۵۵۸۷ خلا میں روشنی کی رفتار $3 \times 10^8\,\mathrm{m\,s^{-1}}$ ہے۔ ہوا میں روشنی کی رفتار اس سے معمولی کم ہے جبکہ کثیف ذریعہ مثلاً شیشہ میں اس کی رفتار مزید کم ہے
۵۵۸۸ (تقریباً اس کے $\frac{2}{3}$ تیز)۔

۵۵۸۹ بصریات میں **اصول فغما**[۱۶] کہتا ہے کہ ایک نقطہ سے دوسرے نقطہ تک روشنی تیز ترین راستے سے پہنچتی ہے۔ اس مشاہدے کی مدد سے ہم ایک ذریعہ (مثلاً ہوا)
۵۵۹۰ میں نقطہ سے دوسرے ذریعہ (مثلاً پانی) میں نقطے تک روشنی کی راہ کی پیش گوئی کر سکتے ہیں۔

۵۵۹۱ مثال ۶.۴.۳۷: ہوا میں روشنی کی رفتار c_1 اور پانی میں روشنی کی رفتار c_2 لیتے ہوئے ہوا میں نقطہ A سے پانی میں نقطہ B تک روشنی کی راہ کی پیش گوئی
۵۵۹۲ کریں۔ ہوا اور پانی کا سرحد سیدھی سطح ہے۔

۵۵۹۳ حل: ہم دونوں ذریعوں کے بیچ سرحد کو x محور پر رکھتے ہوئے A تا B وہ راہ تلاش کرتے ہیں جس پر چلتے ہوئے روشنی کو کم سے کم وقت درکار ہو گا
۵۵۹۴ (شکل ۶.۴.۷)۔ ایک یکساں ذریعہ میں شعاع کی رفتار تبدیل نہیں ہوتی ہے لہٰذا اس میں کم سے کم وقت سے مراد کم سے کم فاصلہ ہے اور شعاع دو نقطوں کے بیچ
۵۵۹۵ سیدھے خط پر حرکت کرتی ہے۔ یوں A تا B راہ دو سیدھے خطوط پر مشتمل ہو گی۔ پہلا خط A سے N تک ہو گا اور دوسرا خط N سے B تک ہو گا۔
۵۵۹۶ N وہ نقطہ ہے جہاں شعاع ایک ذریعہ سے دوسرے ذریعہ میں داخل ہوتی ہے۔ فاصل اور وقت کا تعلق درج ذیل ہے۔

$$\text{وقت} = \frac{\text{فاصلہ}}{\text{رفتار}}$$

---

[۱۶] Fermat'sprinciple

۵۵۹۷ یوں A سے N تک درکار وقت

$$t_1 = \frac{AN}{c_1} = \frac{\sqrt{a^2+x^2}}{c_1}$$

۵۵۹۸ اور N سے B تک درکار وقت

$$t_2 = \frac{NB}{c_2} = \frac{\sqrt{b^2+(d-x)^2}}{c_2}$$

۵۵۹۹ ہوگا۔ A سے B تک پہنچنے کے لئے درکار کل وقت دونوں کا مجموعہ ہوگا۔

$$t = t_1 + t_2 = \frac{\sqrt{a^2+x^2}}{c_1} + \frac{\sqrt{b^2+(d-x)^2}}{c_2} \tag{۳}$$

۵۶۰۰ اس مساوات میں t متغیر x کا قابل تفرق تفاعل ہے اور تفاعل کا دائرہ کار $[0, d]$ ہے۔ ہم اس بند دائرہ کار پر کم سے کم وقت معلوم کرنا چاہتے ہیں۔ ہم
۵۶۰۱ تفرق

$$\frac{\mathrm{d}t}{\mathrm{d}x} = \frac{x}{c_1\sqrt{a^2+x^2}} - \frac{(d-x)}{c_2\sqrt{b^2+(d-x)^2}} \tag{۴}$$

۵۶۰۲ لیتے ہیں جس کو شکل ۴.۷۶ کی مدد سے θ_1 اور θ_2 کی صورت میں لکھا جا سکتا ہے۔

$$\frac{\mathrm{d}t}{\mathrm{d}x} = \frac{\sin\theta_1}{c_1} - \frac{\sin\theta_2}{c_2} \tag{۵}$$

۵۶۰۳ مساوات ۴ سے ظاہر ہے کہ $x = 0$ پر $\frac{\mathrm{d}t}{\mathrm{d}x} < 0$ اور $x = d$ پر $\frac{\mathrm{d}t}{\mathrm{d}x} > 0$ ہوگا۔ یوں اندر نقطوں کے درمیان کسی نقطہ x_0 پر $\frac{\mathrm{d}t}{\mathrm{d}x} = 0$
۵۶۰۴ ہوگا۔ چونکہ $\frac{\mathrm{d}t}{\mathrm{d}x}$ مسلسل بڑھتا تفاعل ہے (سوال ۴.۳۹۶) لہٰذا صرف ایک ایسا نقطہ پایا جائے گا جس پر درج ذیل ہوگا۔

$$\frac{\sin\theta_1}{c_1} = \frac{\sin\theta_2}{c_2} \tag{۶}$$

۵۶۰۵ مساوات ۶ کو **ابن سہل کا قانون انعطاف**[۱۷] کہتے ہیں[۱۸]۔ □

۵۶۰۶ معاشیات میں لاگت اور آمدنی

۵۶۰۷ نظریہ معاشیات میں احصاء کے اہم کردار ہے۔ اس کی دو مثالیں پیش کرتے ہیں۔ پہلی مثال لاگت، آمدنی اور منافع کے تعلق کے بارے میں ہے۔

۵۶۰۸ فرض کریں کہ

---

[۱۷] IbnSahl'slawofrelection

[۱۸] مغربی دنیا میں اس کو Snell'slaw کہتے ہیں۔

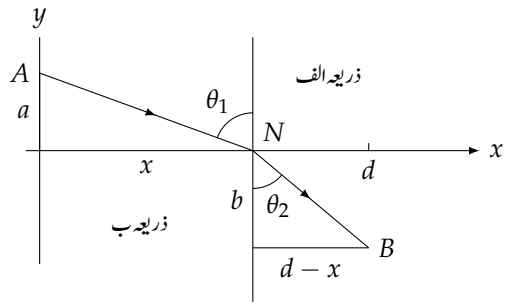

شکل ۶.۴.۷: ایک ذریعہ سے دوسرے ذریعہ میں داخل ہوتے ہوئے شعاع کی راہ (مثال ۷.۳.۴)

۵۶۰۹ x ارکان فروخت کرنے سے آمدنی $r(x)$ ہے۔

۵۶۱۰ x ارکان کی لاگت پیداوار $c(x)$ ہے۔

۵۶۱۱ x ارکان فروخت کرنے سے منافع $p(x) = r(x) - c(x)$ ہے۔

۵۶۱۲ حاشیہ آمدنی اور حاشیہ لاگت پیداوار درج ذیل ہیں۔

$$\frac{\mathrm{d}r}{\mathrm{d}x} = \text{حاشیہ آمدنی}$$
$$\frac{\mathrm{d}c}{\mathrm{d}x} = \text{حاشیہ لاگت}$$

۵۶۱۳ ان تفرق کا آمدنی کے ساتھ تعلق کو درج ذیل مسئلہ پیش کرتا ہے۔

۵۶۱۴ مسئلہ ۷.۴: زیادہ سے زیادہ منافع (اگر پایا جاتا ہو) اس صورت ہو گا جب حاشیہ لاگت پیداوار اور حاشیہ آمدنی ایک دوسرے کے برابر ہوں۔

۵۶۱۵ ثبوت: ہم فرض کرتے ہیں کہ تمام $x > 0$ پر $r(x)$ اور $c(x)$ قابل تفرق ہیں لہٰذا $p(x) = r(x) - c(x)$ کی زیادہ سے زیادہ
۵۶۱۶ قیمت (اگر پائی جاتی ہو) $p'(x) = 0$ پر پائی جائے گی۔ چونکہ $p'(x) = r'(x) - c'(x)$ ہے لہٰذا $p'(x) = 0$ سے مراد

$$r'(x) - c'(x) = 0, \quad \xRightarrow{\text{یعنی}} \quad r'(x) = c'(x)$$

۵۶۱۷ ہے۔ یوں ثبوت مکمل ہوتا ہے (شکل ۷.۴.۷)۔

۵۶۱۸ □

۵۶۱۹ ہمیں مسئلہ ۷.۴ سے کیا ہدایت ملتی ہے؟ ایسی سطح پیداوار جہاں $p'(x) = 0$ ہو، پر زیادہ سے زیادہ منافع یا زیادہ سے زیادہ نقصان ہو گا۔ لیکن معاشی
۵۶۲۰ پیشنگوئی کرتے ہوئے پیداوار کی ان سطحوں پر نظر رکھیں جہاں حاشیہ لاگت اور حاشیہ آمدنی ایک دوسرے کے برابر ہوں۔ اگر زیادہ سے زیادہ منافع پایا جاتا ہو، وہ
۵۶۲۱ ان سطح پیداوار میں سے ایک پر ہو گا۔

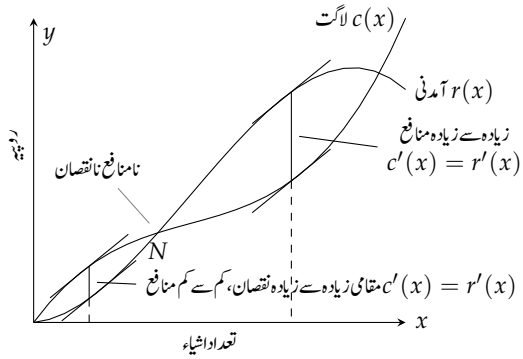

شکل ۴.۷۷: عموماً تفاعل لاگت کا مقعر پہلے نیچے اور بعد میں اوپر ہوتا ہے۔ تفاعل لاگت تفاعل آمدنی کو نامنافع نانقصان کے نقطہ N پر قطع کرتا ہے۔ N کے بائیں خسارہ اور اس کے دائیں منافع ہو گا۔

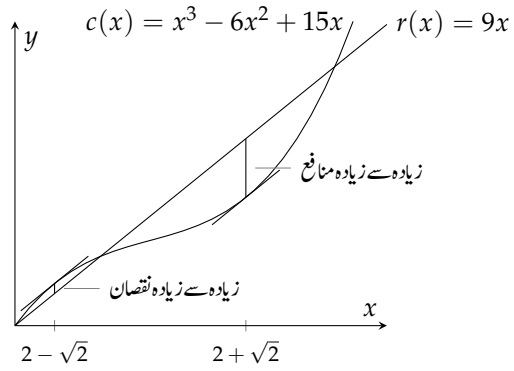

شکل ۴.۷۸: لاگت بالمقابل منافع (مثال ۴.۳۸)

۵۲۲۲ مثال ۴.۳۸: لاگت اور آمدنی تفاعل درج ذیل ہیں

$$r(x) = 9x, \quad c(x) = x^3 - 6x^2 + 15x$$

۵۲۲۳ جہاں تعداد پیداوار x ہے (x کی اکائی 1000 اشیاء ہے)۔ کیا ایسی سطح پیداوار پائی جاتی ہے جس پر منافع زیادہ سے زیادہ ہو گا؟ اگر ایسا ہو تب زیادہ سے زیادہ
۵۲۲۴ منافع کس سطح پیداوار پر ہو گا؟

۵۲۲۵ حل:

$$\begin{aligned}
r(x) &= 9x, \quad c(x) = x^3 - 6x^2 + 15x && \\
r'(x) &= 9, \quad c'(x) = 3x^2 - 12x + 15 && r' \text{ اور } c' \text{ تلاش کریں} \\
3x^2 - 12x + 15 &= 9 && \text{ایک دوسرے کے برابر پر کریں} \\
3x^2 - 12x + 6 &= 0 && \text{ترتیب دیں} \\
x^2 - 4x + 2 &= 0 && \\
x &= \frac{4 \mp \sqrt{16 - 4 \cdot 2}}{2} && \text{دو درجی مساوات حل کریں} \\
&= \frac{4 \mp \sqrt{2}}{2} && \\
&= 2 \mp \sqrt{2} &&
\end{aligned}$$

۵۲۲۶ زیادہ سے زیادہ منافع کا امکان $2 + \sqrt{2}$ یا $2 - \sqrt{2}$ سطح پیداوار پر حاصل ہو گا (شکل ۴.۷۸)۔ آپ دونوں نقطوں پر آمدنی کا حساب کر کے دیکھیں
۵۲۲۷ گے کہ $x = 2 + \sqrt{2}$ پر زیادہ سے زیادہ منافع حاصل ہو گا جبکہ $x = 2 - \sqrt{2}$ پر زیادہ سے زیادہ نقصان ہو گا۔ □

۵۲۲۸ بہترین سطح پیداوار کو کم سے کم اوسط لاگت والی سطح پیداوار تصور کیا جا سکتا ہے۔ اگلے مسئلہ میں یہ سطح پیداوار حاصل کی گئی ہے۔

۵۲۲۹ مسئلہ ۴.۸: اوسط کم سے کم لاگت پیداوار (اگر پائی جاتی ہو) اس سطح پیداوار پر ہو گی جس پر اوسط لاگت اور حاشیہ لاگت ایک دوسرے کے برابر ہوں۔

۵۲۳۰ ثبوت: ہم فرض کرتے ہیں کہ

۵۲۳۱ $x > 0$ اشیاء کی لاگت پیداوار $c(x)$

۵۲۳۲ x اشیاء کی اوسط لاگت پیداوار $\frac{c(x)}{x}$

۵۲۳۳ قابل تفرق ہیں۔

۵۶۳۴ اگر لاگت کو کم سے کم کرنا ممکن ہو، یہ اس صورت ہو گا جب درج ذیل ہو۔

$$\begin{aligned}
\frac{\mathrm{d}}{\mathrm{d}x}\left(\frac{c(x)}{x}\right) &= 0 \\
\frac{xc'(x)-c(x)}{x^2} &= 0 && \text{قاعدہ حاصل تقسیم} \\
xc'(x)-c(x) &= 0 && x^2 \text{ سے ضرب دیں} \\
\underbrace{c'(x)}_{\text{حاشیہ لاگت}} &= \underbrace{\frac{c(x)}{x}}_{\text{اوسط لاگت}}
\end{aligned}$$

۵۶۳۵ □

۵۶۳۶ ہمیں دھیان سے مسئلہ ۴.۸ استعمال کرنا ہو گا جو یہ نہیں کہتا ہے کہ کم سے کم اوسط لاگت کی سطح پیداوار موجود ہے بلکہ کہتا ہے کہ اگر ایسی سطح موجود ہو تب اس کو
۵۶۳۷ کہاں تلاش کرنا چاہیے۔ جہاں اوسط لاگت اور حاشیہ لاگت ایک دوسرے کے برابر ہوں وہاں دیکھیں کہ آیا کم سے کم اوسط لاگت پائی جاتی ہے۔

۵۶۳۸ مثال ۴.۳۹: تفاعل لاگت $c(x) = x^3 - 6x^2 + 15x$ ہے (x کی اکائی 1000 اشیاء ہے)۔ کیا ایسی سطح پیداوار ہے جہاں اوسط لاگت
۵۶۳۹ کم سے کم ہو؟ اگر ایسا ہو تب اس سطح پیداوار کو تلاش کریں۔

۵۶۴۰ حل: ہم جہاں اوسط لاگت اور حاشیہ لاگت ایک دوسرے کے برابر ہوں، وہاں دیکھتے ہیں۔

$$\begin{aligned}
c(x) &= x^3 - 6x^2 + 15x && \text{لاگت} \\
c'(x) &= 3x^2 - 12x + 15 && \text{حاشیہ لاگت} \\
\frac{c(x)}{x} &= x^2 - 6x + 15 && \text{اوسط لاگت} \\
3x^2 - 12x + 15 &= x^2 - 6x + 15 \\
2x^2 - 6x &= 0 \\
2x(x-3) &= 0 \\
x = 0, &\quad x = 3
\end{aligned}$$

۵۶۴۱ چونکہ $x > 0$ ہے لہٰذا کم سے کم اوسط لاگت صرف $x = 3$ ہزار کی پیداوار پر ممکن ہے۔

۵۶۴۲ ہم تفرق کو دیکھتے ہیں۔

$$\begin{aligned}
\frac{c(x)}{x} &= x^2 - 6x + 15 && \text{اوسط لاگت} \\
\frac{\mathrm{d}}{\mathrm{d}x}\left(\frac{c(x)}{x}\right) &= 2x - 6 \\
\frac{\mathrm{d}^2}{\mathrm{d}x^2}\left(\frac{c(x)}{x}\right) &= 2 > 0
\end{aligned}$$

دور تبی تفرق مثبت ہے لہٰذا $x = 3$ پر مطلق کم سے کم ہو گا۔ □

غیر مسلسل مظہر کا نمونہ بذریعہ تفرقی تفاعل

اگر آپ سوچ رہے ہوں کہ جب x عدد صحیح ہے (چونکہ مکمل اشیاء پیدا کیے جاتے ہیں) تب ہم لاگت اور آمدنی کو ظاہر کرنے کے لئے قابل تفرق تفاعل $c(x)$ اور $r(x)$ کس طرح استعمال کر سکتے ہیں۔ اس پر غور کرتے ہیں۔

جب x کی قیمت بڑی ہو تب ہم لاگت اور آمدنی کو ہموار منحنیات $c(x)$ اور $r(x)$ سے ظاہر کر سکتے ہیں جو نا صرف x کی عدد صحیح قیمتوں بالکل ان کے بیچ تمام قیمتوں پر قابل تفرق ہیں۔ ان قابل تفرق تفاعل، جو x کی عدد صحیح قیمتوں کے لئے لاگت اور آمدنی کو ظاہر کرتے ہیں، کی قیمتوں پر ہم احصاء کی مدد سے غور کر سکتے ہیں۔ یوں حاصل نتائج کو ہم حقیقی دنیا میں منتقل کرتے ہوئے امید کرتے ہیں کہ ہم اس سے فائدہ اٹھا سکیں۔ جب ہم ایسا کرتے ہوں، جیسا نظریہ معاشیات میں ہم نے کیا، ہم کہتے ہیں کہ یہ تفاعل حقیقت کا اچھا نمونہ ہے۔

ایسی صورتوں میں جب احصاء کہتا ہو کہ بہترین پیداوار x کی غیر عدد صحیح قیمت پر ہو گی، جیسا مثال ۴.۳۸ میں $x = 2 + \sqrt{2}$ ہزار کا جواب حاصل ہوا، تب ہم اس کا قریب ترین موزوں عدد صحیح لیتے ہیں۔ اگر ہم 20 اشیاء کو ڈبوں میں بند کرتے ہوں تب $x = 2 + \sqrt{2}$ ہزار کی صورت میں ہم 3410 یا 3420 لے سکتے ہیں۔

سوالات

ہر سوال کو حل کرنے سے پہلے بہتر ہو گا کہ موزوں دائرہ کار لیتے ہوئے تفاعل کو کمپیوٹر پر ترسیم کریں۔

جیومیٹری کے مسائل

سوال ۴.۳۴۵: رداس r دائرہ کے محیط پر دو نقطوں سے وسط تک سیدھی لکیریں کھینچی جاتی ہیں۔ اس خطہ کے محیط کی لمبائی $(2r + s)$ ہے جو $100\,\mathrm{m}$ کے برابر ہے۔ r اور s کی کن قیمتوں سے خطے کا رقبہ زیادہ سے زیادہ ہو گا؟

سوال ۴.۳۴۶: ایک قائمہ مثلث کا وتر $5\,\mathrm{cm}$ ہے۔ اس کا زیادہ سے زیادہ رقبہ کتنا ممکن ہے؟

سوال ۴.۳۴۷: ایک مستطیل جس کا رقبہ $16\,\mathrm{cm}^2$ ہے کا کم سے کم محیط کتنا ہو گا؟

سوال ۴.۳۴۸: دکھائیں کہ ایک محیط کے تمام مستطیل میں اس کا رقبہ سب سے زیادہ ہو گا جو چوکور ہو۔

سوال ۴.۳۴۹: ایک قائمہ مساوی الساقین مثلث کا وتر 2 اکائیاں لمبا ہے۔ اس میں محصور مستطیل کو شکل ۴.۷۹ میں دکھایا گیا ہے۔

ا. N کے محدد کو x کی صورت میں لکھیں۔ (خط AB کی مساوات لکھ کر آپ ایسا کر سکتے ہیں۔)

ب. مستطیل کا رقبہ x کی صورت میں لکھیں۔

ج. مستطیل کا زیادہ سے زیادہ رقبہ کتنا ہو سکتا ہے؟

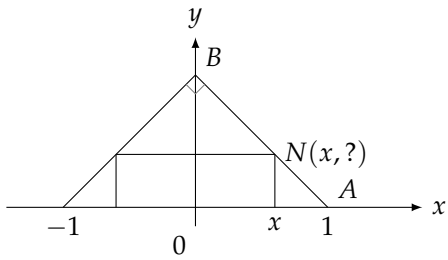

شکل ۴.۷۹: مثلث میں محصور مستطیل (سوال ۴.۳۴۹)

سوال ۴.۳۵۰: ایک مستطیل کا تلا x محور پر ہے جبکہ اس کے بالائی دو راس قطع مکافی $y = 12 - x^2$ پر ہیں۔ اس مستطیل کا زیادہ سے زیادہ رقبہ کتنا ممکن ہے؟

سوال ۴.۳۵۱: آپ $15\,\text{cm} \times 8\,\text{cm}$ چادر کے کونوں سے چوکور چادر کاٹ کر کھلا مستطیل ڈبہ بنانا چاہتے ہیں۔ اس ڈبے کی زیادہ سے زیادہ حجم کیا ہو سکتی ہے؟

سوال ۴.۳۵۲: آپ $(a, 0)$ سے $(0, b)$ تک لکیر کھینچ کر ربع اول میں بند خطہ بناتے ہیں۔ دکھائیں کہ اس خطے کا رقبہ اس صورت زیادہ سے زیادہ ہو گا جب $a = b$ ہو۔

سوال ۴.۳۵۳: ایک دریا کے کنارے مستطیل رقبے کو تین اطراف سے $800\,\text{m}$ کل لمبائی کی دیوار سے گھیرا جاتا ہے۔ زیادہ سے زیادہ رقبہ کتنا ہو سکتا ہے؟

سوال ۴.۳۵۴: $216\,\text{m}^2$ مستطیل رقبے کو دھاتی تار سے گھیرا جاتا ہے۔ کسی ایک ضلع کے متوازی تار سے اس خطے کو دو برابر حصوں میں تقسیم کیا جاتا ہے۔ کم سے کم تار استعمال کرنا مقصود ہے۔ مستطیل کی جسامت کیا ہونی چاہیے؟ تار کی کم سے کم لمبائی کیا ہو گی؟

سوال ۴.۳۵۵: کم ترین وزنی فولادی ٹینکی

بغیر ڈھکن ٹینکی جس کا تلا چوکور ہو درکار ہے جس کا حجم $256\,\text{m}^3$ ہو۔ یہ ٹینکی $1\,\text{cm}$ موٹی فولادی چادر سے بنائی جائے گی۔ بطور انجنیئر آپ کا کام ہے کہ ہلکی ترین ٹینکی بنانے کے لئے ٹینکی کا اضلاع تلاش کریں۔ اضلاع کیا ہوں گے؟

سوال ۴.۳۵۶: بارش کا پانی

بارانی علاقے میں بارش کا پانی ذخیرہ کرنے کے لئے زمین کی کھدائی کر کے بغیر ڈھکن $1125\,\text{m}^3$ حجم کی ٹینکی بنائی جاتی ہے جس کا تلا چوکور ہے۔ ٹینکی کی گہرائی y میٹر جبکہ تلا کی ضلع کی لمبائی x میٹر ہے۔ ٹینکی کا تلا اور اطراف پر لاگت کے ساتھ ساتھ کھدائی کی لاگت بھی ہے جو حاصل ضرب xy کے راست متناسب ہے۔ اگر کل لاگت $c = 5(x^2 + 4xy) + 10xy$ ہو تب لاگت کو کم سے کم رکھنے کی خاطر x اور y کی ہوں گے؟

سوال ۴.۳۵۷: ایک مستطیل اشتہار میں $50\,\text{cm}^2$ رقبے پر لکھائی ہو گی۔ بالائی اور نچلے جانب $4\,\text{cm}$ اور اطراف پر $2\,\text{cm}$ خالی جگہ ہو گی۔ کم سے کم کاغذ استعمال کرنے کے لئے مستطیل اشتہار کے اضلاع کیا ہوں گے؟

سوال ۴.۳۵۸: رداس $r = 3$ کی کرہ میں محصور دائری مخروط کا زیادہ سے زیادہ حجم کیا ہو سکتا ہے (شکل ۴.۳۵۸)؟

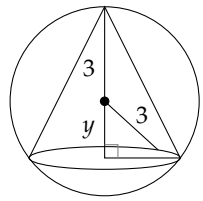

شکل ۴.۸۰: کرہ میں مخروط (سوال ۴.۳۵۸)

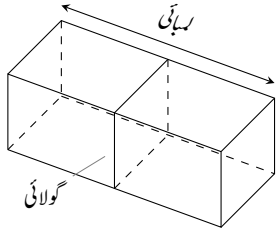

شکل ۴.۸۱: ڈبہ برائے سوال ۴.۳۶۳

سوال ۴.۳۵۹: ایک مثلث کے دو اضلاع کی لمبائیاں a اور b ہیں جن کے بیچ زاویہ θ ہے۔ θ کی کون سے قیمت مثلث کی زیادہ سے زیادہ رقبہ دے گی۔(اشارہ: $S = \frac{1}{2}ab\sin\theta$)

سوال ۴.۳۶۰: ایک قائمہ مثلث کا وتر $\sqrt{5}$ ہے جبکہ اس کے باقی اضلاع x اور y ہیں۔تفاعل $s = 2x + y$ کی زیادہ سے زیادہ قیمت تلاش کریں۔

سوال ۴.۳۶۱: 1000 cm حجم کا بغیر ڈھکن قائمہ دائری بیلن بنایا جاتا ہے۔کم سے کم بیلن کی جسامت تلاش کریں۔

سوال ۴.۳۶۲: 1000 cm حجم کا قائمہ دائری بیلنی ڈبہ بنایا جاتا ہے۔چادر سے بیلن کے اطراف کاٹتے ہوئے کوئی مال ضائع نہیں ہوتا ہے البتہ بالائی اور نچلے دائری حصے کو $2r \times 2r$ چوکور سے کاٹتے ہوئے مال ضائع ہوتا ہے۔یوں ایک ڈبہ بنانے کے لئے $S = 8r^2 + 2\pi rh$ رقبے کی چادر درکار ہو گی ناکہ $S = 2\pi r^2 + 2\pi rh$ (مثال ۴.۳۴)۔مثال ۴.۳۴ میں کم سے کم لاگت کے لئے h اور r کا تعلق $h = 2r$ تھا۔اب ان کا تعلق کیا ہو گا؟

سوال ۴.۳۶۳: (ا) ایک مستطیل ڈبہ کی لمبائی اور گولائی کا مجموعہ 108 cm ہے (شکل ۴.۸۱)۔اس ڈبے کے سر چوکور ہیں۔اس ڈبے کی زیادہ سے زیادہ حجم کیا ہو سکتی ہے؟ (ب) اس ڈبے کی لمبائی بالمقابل حجم ترسیم کریں اور جزو-الف کے جواب کے ساتھ موازنہ کریں۔

سوال ۴.۳۶۴: گزشتہ سوال میں چوکور سروں کے بجائے چوکور اطراف تصور کریں۔یوں ڈبے کا حجم $h \times h \times w$ اور گولائی $2h + 2w$ ہو گی۔اب ڈبے کی زیادہ سے زیادہ حجم کیا ہو گی؟

سوال ۴.۳۶۵: (ا) ایک مستطیل چادر جس کا محیط 36 cm اور اضلاع x اور y ہیں کو گول کرتے ہوئے بیلن بنایا جاتا ہے جس کے سر کھلے ہیں۔اس بیلن کی زیادہ سے زیادہ حجم کیا ہو سکتی ہے؟ (ب) اس مستطیل چادر کے ایک کنارے کو محور تصور کرتے ہوئے، چادر کو اس محور کے گرد گھمایا جاتا ہے جو خیالی بیلنی صورت بناتا ہے۔اس بیلن کا زیادہ سے زیادہ حجم کیا ہو گا؟ (شکل ۴.۸۲)

سوال ۴.۳۶۶: ایک قائمہ مثلث کا وتر $\sqrt{3}$ ہے۔اس کو ایک ضلع کے گرد گھما کر فرضی مخروط بنایا جاتا ہے۔اس مخروط کا زیادہ سے زیادہ حجم کیا ممکن ہے اور اس کا رداس اور قد کیا ہوں گے؟

سوال ۴.۳۶۷: دائرہ بالمقابل چوکور

ا. 4 m لمبی تار کو دو ٹکڑوں میں تقسیم کرتے ہوئے ایک چوکور اور ایک دائرہ بنایا جاتا ہے۔ان ٹکڑوں کی لمبائیاں کیا ہوں گی کہ دائرے اور چوکور کا مجموعی رقبہ زیادہ سے زیادہ ہو؟

ب. چوکور اور دائرے کے مجموعی رقبے کو دائرے کی رداس کا تفاعل لکھ کر ترسیم کریں۔جزو الف میں حاصل جواب کے ساتھ ہم آہنگی دیکھیں۔

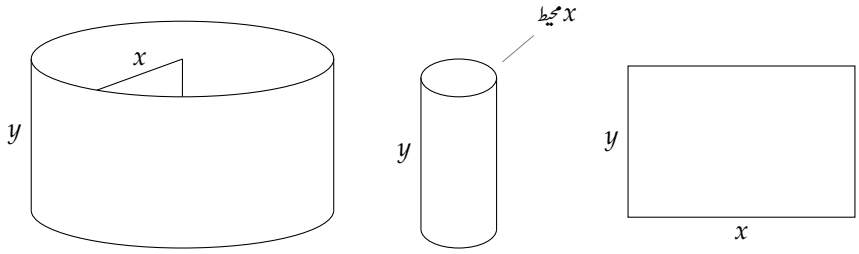

شکل ۸۲.۴: چادر اور بیلن (سوال ۳۶۵.۴)

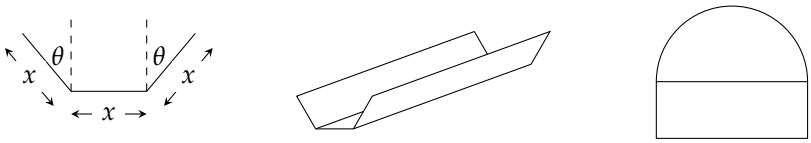

شکل ۸۳.۴: کھڑکی (سوال ۳۶۹.۴)

شکل ۸۴.۴: پانی کی نالی (سوال ۳۷۱.۴)

ج. اب کل رقبے کو چوکور کے ضلع کی لمبائی کا تفاعل لکھ کر ترسیم کریں اور جزو الف میں حاصل جواب کے ساتھ ہم آہنگی دیکھیں۔

سوال ۳۶۸.۴: مکعب اور کرہ کی سطحی رقبوں کے مجموعے کو مستقل رکھیں۔ مکعب کے ضلع اور کرہ کے رداس کی کون سی نسبت (ا) کم سے کم، (ب) زیادہ سے زیادہ مجموعی حجم دے گی؟

سوال ۳۶۹.۴: ایک مستطیل شیشہ کے اوپر نصف دائری شیشہ مل کر کھڑکی بناتے ہیں (شکل ۸۳.۴)۔ مستطیل شیشہ شفاف ہے جبکہ نصف دائری شیشہ ہلکا سیاہ ہے اور فی مربع رقبہ نصف روشنی کو گزرنے دیتا ہے۔ کھڑکی کا محیط مستقل ہے۔ زیادہ سے زیادہ روشنی کے لئے کھڑکی کی جسامت تلاش کریں۔

سوال ۳۷۰.۴: ایک بیلنی گودام تعمیر کرنی ہے جس کی چھت نصف کروی ہو گی۔ فی مربع سطحی رقبہ نصف کرہ پر لاگت بیلنی دیوار کی فی مربع سطحی رقبہ کی لاگت سے دگنی ہے۔ مستقل حجم کی صورت میں کم سے کم کل لاگت کے لئے گودام کی جسامت تلاش کریں۔ تعمیر میں نچلی سطح (زمین) پر لاگت اور ضیاع کو نظر انداز کریں۔

سوال ۳۷۱.۴: ایک پانی کی نالی تعمیر کرنی ہے جس کی جسامت شکل ۸۴.۴ میں دکھائی گئی ہے۔ صرف زاویہ θ متغیر ہے۔ زیادہ سے زیادہ حجم کے لئے θ کی قیمت تلاش کریں۔

سوال ۳۷۲.۴: ایک مستطیل $8.5\text{ cm} \times 11\text{ cm}$ کاغذ کو مستوی پر رکھا جاتا ہے (شکل ۸۵.۴)۔ کونا A کو مخالف لمبے ضلع پر رکھ کر کاغذ کو چپٹا کیا جاتا ہے۔ لمبائی RP کو کم سے کم کرنا مقصود ہے۔

ا. کاغذ استعمال کرتے ہوئے اس لمبائی کو کم سے کم کریں۔

ب. دکھائیں $L^2 = \frac{2x^3}{2x-8.5}$

ج. x کی کون سی قیمت L^2 کو کم سے کم بناتی ہے؟

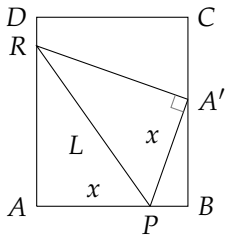

شکل ۴.۸۵: کاغذ برائے سوال ۴.۳۷۲

د. x کی کم سے کم قیمت کیا ہے؟

ھ. x بالمقابل L ترسیم کریں اور جزو-ب کے جواب کے ساتھ موازنہ کریں۔

طبعی استعمال

سوال ۴.۳۷۳: انتصابی حرکت کرتی ایک جسم کی اونچائی $s = -\frac{1}{2}gt^2 + v_0t + s_0,\ g > 0$ ہے جہاں t سیکنڈوں اور s میٹروں میں ہے۔ جسم کی زیادہ سے زیادہ اونچائی کیا ہو گی؟

سوال ۴.۳۷۴: ایک عمارت سے $9\ \mathrm{m}$ کے فاصلے پر $2.5\ \mathrm{m}$ اونچی دیوار ہے۔ دیوار کی دوسری طرف سے عمارت تک سیڑھی لگائی جاتی ہے۔ سیڑھی کی کم سے کم لمبائی کیا ہو گی؟

سوال ۴.۳۷۵: شہتیر کہ مضبوطی لکڑی کی شہتیر کی مضبوطی M اس کی چوڑائی w ضرب مربع گہرائی d کے راست تناسب ہوتی ہے یعنی $M = kwd^2$ جہاں k تناسبی مستقل ہے۔

ا. $30\ \mathrm{cm}$ قطر کے لکڑے سے کس جسامت کی مضبوط سے مضبوط شہتیر حاصل کی جا سکتی ہے؟

ب. تناسبی مستقل کو $k = 1$ لیتے ہوئے M بالمقابل w ترسیم کریں۔ جزو-الف کے جواب کے ساتھ موازنہ کریں۔

ج. تناسبی مستقل کو $k = 1$ لیتے ہوئے M بالمقابل d ترسیم کریں۔ جزو-الف کے جواب کے ساتھ موازنہ کریں۔ k تبدیل کرنے سے جواب پر کیا اثر ہو گا؟

سوال ۴.۳۷۶: شہتیر کی سختی شہتیر کی سختی S اس کی چوڑائی w ضرب مکعب گہرائی d کے راست تناسب ہوتی ہے یعنی $S = kwd^3$ جہاں k تناسبی مستقل ہے۔

ا. $30\ \mathrm{cm}$ قطر کی لکڑے سے سخت سے سخت شہتیر حاصل کریں۔ شہتیر کی جسامت کیا ہو گی؟

ب. $k = 1$ لیتے ہوئے S بالمقابل w ترسیم کریں۔ جزو-الف میں حاصل جواب کے ساتھ موازنہ کریں۔

ج. $k = 1$ لیتے ہوئے S بالمقابل d ترسیم کریں۔ جزو-الف میں حاصل جواب کے ساتھ موازنہ کریں۔ k تبدیل کرنے سے جواب پر کیا اثر ہو گا؟

سوال ۴.۳۷۷: لمحہ t پر ایک بلب میں برقی رو $i = 2\cos t + 2\sin t$ ہے۔ رو کی زیادہ سے زیادہ لمحاتی قیمت کیا ہو گی؟

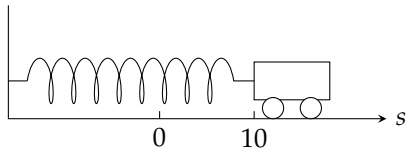

شکل ۴.۸۶: افقی سطح پر ریڑھی کو دیوار کے ساتھ باندھا گیا ہے (سوال ۴.۳۷۸)

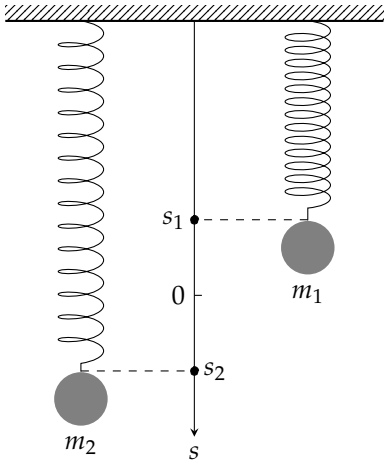

شکل ۴.۸۷: چھت سے آویزاں دو اسپرنگ (سوال ۴.۳۷۹)

سوال ۴.۳۷۸: بے رگڑ ریڑھی کو افقی مستوی پر رکھ کر اسپرنگ کے ذریعہ قریبی دیوار کے ساتھ باندھا جاتا ہے (شکل ۴.۸۶)۔ لمحہ $t = 0$ پر ساکن مقام سے اس کو $10\,\text{cm}$ دور کھینچ کر چھوڑا جاتا ہے تاکہ یہ 4 سیکنڈوں کے لئے مستوی پر آگے پیچھے حرکت کر سکے۔ لمحہ t پر اس کا مقام $s = 10\cos \pi t$ ہے۔

ا. ریڑھی کی زیادہ سے زیادہ رفتار کب اور کتنی ہو گی؟ تب ریڑھی کا مقام اور اس کی اسراع کیا ہو گی؟

ب. جس لمحہ ریڑھی کی اسراع زیادہ سے زیادہ ہو اس لمحہ ریڑھی کا مقام کیا ہو گا؟ تب اس کی رفتار کیا ہو گی؟

سوال ۴.۳۷۹: علیحدہ علیحدہ اسپرنگ کے ذریعہ چھت سے دو کمیتوں کو قریب قریب لٹکایا جاتا ہے (شکل ۴.۸۷)۔ ان کے مقام بالترتیب $s_1 = 2\sin t$ اور $s_2 = \sin 2t$ ہیں۔

ا. کس لمحہ کمیت ایک دوسرے کے قریب سے گزرتے ہیں؟ (اشارہ: $\sin 2t = 2\sin t\cos t$)

ب. وقفہ $0 \le t \le 2\pi$ کے دوران ان کے درمیان انتصابی فاصلہ زیادہ سے زیادہ کب اور کتنا ہو گی؟ (اشارہ: $\cos 2t = 2\cos^2 t - 1$)

سوال ۴.۳۸۰: s محور پر دو ذرات کے مقام $s_1 = \sin t$ اور $s_2 = \sin(t + \frac{\pi}{3})$ ہیں۔

ا. وقفہ $0 \le t \le 2\pi$ میں دونوں ذرات ایک دوسرے سے کم ملتے ہیں؟

ب. ذرات ایک دوسرے سے کب دور ترین ہوتے ہیں؟

ج. وقفہ $0 \le t \le 2\pi$ میں ان کے بیچ فاصلہ کی تبدیلی تیز ترین ہو گی؟

سوال ۴.۳۸۱: لمحہ t پر x محور پر ایک ذرے کا مقام $x = (t-1)(t-4)^4$ ہے۔

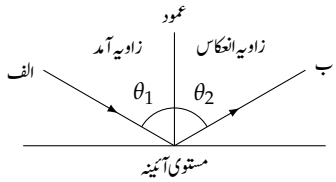

شکل ۴.۸۸: زاویہ آمد اور زاویہ انعکاس ایک دوسرے کے برابر ہوں گے (سوال ۴.۳۸۳)

ا. ذرہ ساکن کب ہو گا؟

ب. کس وقفے کے دوران ذرہ بائیں رخ حرکت کرتا ہے؟

ج. بائیں رخ حرکت کرتے ہوئے ذرے کی تیز سے تیز رفتار کیا ہو گی؟

د. وقفہ $0 \leq t \leq 6$ کے لئے x بالمقابل t ترسیم کریں۔ اسی وقفہ کے لئے $\frac{\mathrm{d}x}{\mathrm{d}t}$ بالمقابل t کو بھی ترسیم کریں۔ ترسیمات کا ایک دوسرے کے ساتھ اور حاصل جوابات کے ساتھ موازنہ کریں۔

سوال ۴.۳۸۲: دوپہر کے وقت $t = 0$ بحری جہاز ب کے عین شمال میں بحری جہاز الف موجود ہے۔ بحری جہاز الف $24\,\mathrm{km\,h^{-1}}$ کی رفتار سے جنوب کی طرف رواں ہے جبکہ بحری جہاز ب مشرق کی طرف $16\,\mathrm{km\,h^{-1}}$ کی رفتار سے رواں ہے۔

ا. ان کے بیچ فاصلہ s کو t کی صورت میں لکھیں جہاں s کلومیٹر اور t گھنٹوں میں ہے۔

ب. دوپہر کے وقت ان کے بیچ فاصلہ کس شرح سے تبدیل ہو گا؟ ایک گھنٹہ بعد یہ شرح کیا ہو گی؟

ج. اس دن حد نظر $10\,\mathrm{km}$ تھی۔ کیا ان بحری جہازوں نے ایک دوسرے کو دیکھا ہو گا؟

د. $0 \leq t \leq 3$ کے لئے s بالمقابل t اور $\frac{\mathrm{d}s}{\mathrm{d}t}$ بالمقابل t ترسیم کریں۔ ترسیمات کا حاصل جوابات کے ساتھ موازنہ کریں۔

ھ. ایسا معلوم ہوتا ہے کہ ربع اول میں $\frac{\mathrm{d}s}{\mathrm{d}t}$ کی ترسیم کا افقی متقارب پایا جاتا ہے۔ اس کا مطلب ہے کہ $t \to \infty$ کرنے سے $\frac{\mathrm{d}s}{\mathrm{d}t}$ کی تحدیدی قیمت پائی جائے گی۔ اس حد کو تلاش کریں۔ اس حد کا انفرادی رفتاروں کے ساتھ کیا تعلق ہے؟

سوال ۴.۳۸۳: بصریات میں **اصول فغما** کہتا ہے کہ ایک نقطہ سے دوسرے نقطہ تک روشنی اس راستے سے پہنچتی ہے جس پر کم سے کم وقت درکار ہو۔ شکل ۴.۸۸ میں نقطہ الف سے شعاع خارج ہو کر آئینہ سے انعکاس کرتے ہوئے نقطہ ب تک پہنچتی ہے۔ دکھائیں کہ اگر شعاع اصول فغما کو مطمئن کرتا ہو تب زاویہ آمد اور زاویہ انعکاس ایک دوسرے کے برابر ہوں گے۔ (یہ نتیجہ بغیر احصاء کے خالصتاً جیومیٹری کی مدد سے حاصل کیا جا سکتا ہے۔)

سوال ۴.۳۸۴: عمل انگیز: **عمل انگیز**[19] اس مادہ کو کہتے ہیں جس کی موجودگی کیمیائی تعامل کی شرح پر اثر انداز ہوتی ہے اور جو خود جوں کا توں رہتا ہے۔ **خود عمل انگیز**[20] کیمیائی تعامل اس کو کہتے ہیں جس میں حاصل کیمیا خود اس تعامل کے عمل انگیز ہوں۔ خود عمل انگیز کیمیائی تعامل کی ایک مثال $13\,^\circ\mathrm{C}$ سے کم درجہ پر پڑا ہوا دھاتی ٹین کا کچھ عرصہ میں سفید برادہ میں تبدیل ہونا ہے۔ یہ برادہ خود اس کیمیائی تعامل کا عمل انگیز ہے۔ اس قسم کے تعامل کی شرح شروع میں کم ہوتی ہے جو عمل انگیز پیدا ہونے کے بعد رفتار پکڑتی ہے اور آخر میں ابتدائی کیمیا کم ہونے کی وجہ سے دوبارہ آہستہ ہوتی ہے۔

---

[19] catalyst
[20] autocatalyst

اس قسم کے تعامل کی رفتار $v = \frac{\mathrm{d}x}{\mathrm{d}t}$ ابتدائی مواد اور پیدا مواد کے حاصل ضرب کے راست متناسب ہو گی، یعنی

$$v = kx(a - x) = kax - kx^2$$

جہاں a مواد کی ابتدائی مقدار، x پیدا مواد کی مقدار اور k تناسبی مستقل ہے۔ x کی وہ قیمت تلاش کریں جو زیادہ سے زیادہ v دیگا؟ v کی زیادہ سے زیادہ قیمت کیا ہو گی؟

ریاضیاتی استعمال

سوال ۴.۳۸۵: کیا تفاعل $f(x) = x^2 - x + 1$ کبھی منفی بھی ہوتا ہے؟ تفصیل پیش کریں۔

سوال ۴.۳۸۶: آپ سے پوچھا گیا ہے کہ آیا تفاعل $f(x) = 3 + 4\cos x + \cos 2x$ کبھی منفی بھی ہوتا ہے۔

ا. سمجھائیں کہ آپ کو کیوں وقفہ $[0, 2\pi]$ میں x کی قیمتوں کے لئے تفاعل پر غور کرنا ہو گا۔

ب. کیا f کبھی منفی ہو گا؟ سمجھائیں۔

سوال ۴.۳۸۷: منحنی $y = \sqrt{x}$ پر نقطہ $(c, 0)$ کا قریب ترین نقطہ تلاش کریں۔ (ا) $c \geq \frac{1}{2}$ ہے، (ب) $c < \frac{1}{2}$ ہے۔

سوال ۴.۳۸۸: a کی کس قیمت کے لئے $f(x) = x^2 + \frac{a}{x}$ کا (ا) $x = 2$ پر مقامی کم سے کم قیمت ہو گی، (ب) $x = 1$ پر نقطہ تصریف ہو گا۔

سوال ۴.۳۸۹: a اور b کی کون سی قیمتوں کے لئے $f(x) = x^3 + ax^2 + bx$ کی (ا) $x = -1$ پر مقامی زیادہ سے زیادہ اور $x = 3$ پر مقامی کم سے کم قیمت ہو گی، (ب) $x = 4$ پر مقامی کم سے کم اور $x = 1$ پر نقطہ تصریف ہو گا۔

سوال ۴.۳۹۰: دکھائیں کہ a کی کسی بھی قیمت کے لئے $f(x) = x^2 + \frac{a}{x}$ کی مقامی کم سے کم قیمت نہیں پائی جاتی ہے۔

سوال ۴.۳۹۱:

ا. وقفہ $0 < x < \pi$ پر تفاعل $y = \cos x - \sqrt{2}\csc x$ کی مطلق زیادہ سے زیادہ قیمت پائی جاتی ہے۔ اس کو تلاش کریں۔

ب. تفاعل کو ترسیم کرتے ہوئے حاصل جواب کے ساتھ موازنہ کریں۔

سوال ۴.۳۹۲:

ا. وقفہ $0 < x < \frac{\pi}{2}$ پر تفاعل $y = \tan x + 3\cot x$ کی مطلق کم سے کم قیمت پائی جاتی ہے۔ اس کو تلاش کریں۔

ب. تفاعل کو ترسیم کرتے ہوئے حاصل جواب کے ساتھ موازنہ کریں۔

سوال ۴.۳۹۳: منحنی $y = \sqrt{x}$ نقطہ $(\frac{1}{2}, 16)$ کے کتنا نزدیک آتی ہے؟

سوال ۴.۳۹۴: فرض کریں کہ $f(x)$ اور $g(x)$ قابل تفرق ہیں جنہیں شکل ۴.۸۹ میں دکھایا گیا ہے۔ ان کے بیچ زیادہ سے زیادہ فاصلہ نقطہ $x = c$ پر پایا جاتا ہے۔ کیا اس نقطے پر ان تفاعل کے مماس میں کوئی خاص بات پائی جاتی ہے؟ اپنے جواب کی وجہ پیش کریں۔

سوال ۴.۳۹۵: دکھائیں کہ مثبت عدد صحیح a ، b ، c اور d کی صورت میں $\frac{(a^2+1)(b^2+1)(c^2+1)(d^2+1)}{abcd} \geq 16$ ہو گا۔

سوال ۴.۳۹۶: (مثال ۴.۳۷ کا $\frac{\mathrm{d}t}{\mathrm{d}x}$)

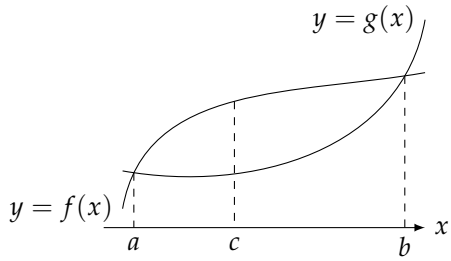

شکل ۴.۸۹: ترسیمات برائے سوال ۴.۳۹۴

۵۸۰۵ ا. دکھائیں کہ $f(x) = \frac{x}{\sqrt{a^2+x^2}}$ متغیر x کا بڑھتا تفاعل ہے۔

۵۸۰۶ ب. دکھائیں کہ $g(x) = \frac{d-x}{\sqrt{b^2+(d-x)^2}}$ متغیر x کا گھٹتا تفاعل ہے۔

۵۸۰۷ ج. دکھائیں کہ $\frac{\mathrm{d}t}{\mathrm{d}x} = \frac{x}{c_1\sqrt{a^2+x^2}} - \frac{d-x}{c_2\sqrt{b^2+(d-x)^2}}$ متغیر x کا بڑھتا تفاعل ہے۔

۵۸۰۸ **دوا**

۵۸۰۹ سوال ۴.۳۹۷: حساسیت دوا۔ (سوال ۳.۱۱۵ دیکھیں)

۵۸۱۰ دوا کی وہ مقدار جس کو جسم زیادہ سے زیادہ حساس ہو معلوم کرنے کی خاطر M کی وہ قیمت تلاش کریں جس پر تفرق $\frac{\mathrm{d}R}{\mathrm{d}M}$ کی قیمت زیادہ سے زیادہ ہو گی جہاں

۵۸۱۱ $R = M^2(\frac{C}{2} - \frac{M}{3})$ اور C مستقل ہے۔

۵۸۱۲ سوال ۴.۳۹۸: کھانسی

۵۸۱۳ ا. کھانسی کے دوران سانس کی نالی سکڑ کر ہوا کی رفتار کو تیز کرتی ہے۔ کیا سانس کی نالی اتنی سکڑتی ہے کہ ہوا کی رفتار زیادہ سے زیادہ ہو؟

۵۸۱۴ سانس کی نالی کی لچک اور اس کی دیوار کا ہوا کی بہاو کو مزاحمت کی مناسب قیمتیں لیتے ہوئے ہوا کی اوسط رفتار v کو درج ذیل مساوات سے ظاہر کیا جا سکتا ہے

$$v = c(r_0 - r)r^2 \,\mathrm{cm\,s^{-1}}, \quad \frac{r_0}{2} \le r \le r_0$$

۵۸۱۵ جہاں آرام کی صورت میں سانس کی نالی کا رداس r_0 سنٹی میٹر ہے اور c مثبت مستقل جس کی قیمت سانس کی لمبائی پر (بھی) منحصر ہے۔

۵۸۱۶ دکھائیں کہ v کی زیادہ سے زیادہ قیمت $r = \frac{2}{3}r_0$ پر حاصل ہو گی یعنی جب سانس کی نالی 33 % سکڑے۔ کھانسی کے دوران سانس کی نالی کی

۵۸۱۷ ایکس رے ثابت کرتی ہے کہ کھانسی کے دوران سانس کی نالی اتنی ہی سکڑتی ہے۔

۵۸۱۸ ب. $r_0 = 0.5$ اور $c = 1$ لیتے ہوئے وقفہ $0 \le r \le 0.5$ پر v ترسیم کریں۔ دیکھیں کہ آیا زیادہ سے زیادہ رفتار $r = \frac{2}{3}r_0$ پر نظر

۵۸۱۹ آتی ہے۔

۵۸۲۰ **اقتصادیات اور کاروبار**

۵۸۲۱ سوال ۴.۳۹۹: ایک قمیض تیار کرنے پر c روپیہ لاگت آتی ہے اور اس کی قیمت فروخت x روپیہ ہے۔ فروخت قمیضوں کی تعداد $n = \frac{a}{x-c} + \frac{b}{100-x}$

۵۸۲۲ ہے جہاں a اور b مثبت مستقل ہیں۔ زیادہ سے زیادہ منافع کس قیمت فروخت پر ہو گا؟

سوال ۴.۴۰۰: آپ سیر و سیاحت کا کاروبار کرتے ہیں۔ آپ کی قیمتیں درج ذیل ہیں۔

ا. اگر 50 افراد (جو کم سے کم تعداد ہے) سیر و سیاحت پر جائیں تب ہر فرد 200 روپیہ ادا کرے گا۔

ب. 80 افراد کی حد تک ہر اضافی فرد کی صورت میں تمام افراد کو 2 روپیہ کم ادا کرنے ہوں گے۔

کل لاگت 6000 روپیہ کی مستقل مقدار اور فی فرد 32 روپیہ ہے۔ زیادہ سے زیادہ منافع کے لئے کتنے افراد درکار ہیں؟

سوال ۴.۴۰۱: انتظام تجارت مال کا ایک کلیہ کہتا ہے کہ مال کی فرمائش، ادائیگی اور رکھوالی پر فی ہفتہ $A(q) = \frac{km}{q} + cm + \frac{hq}{2}$ لاگت آتی ہے جہاں q کھیپ میں اشیاء کی تعداد ہے، k لمحہ فرمائش پر ادائیگی ہے (جو ہر فرمائش پر ادا کرنی ہو گی)، c فی رکن قیمت ہے، m ایک ہفتہ میں فروخت اشیاء کی تعداد ہے، اور h فی رکن ہفتہ وار رکھوالی کا خرچ ہے جس میں کرایہ وغیرہ شامل ہے۔ q کی وہ قیمت تلاش کریں جس پر $A(q)$ کی قیمت کم سے کم ہو گی۔

سوال ۴.۴۰۲: (تسلسل سوال ۴.۴۰۱)
خرچ ترسیل بعض اوقات کھیپ کی تعداد پر منحصر ہوتی ہے۔ جب ایسا ہو تب k کی جگہ $k + bq$ استعمال کیا جاتا ہے جہاں b مستقل ہے۔ اب کھیپ کی بہترین جسامت کیا ہو گی؟

سوال ۴.۴۰۳: اگر تفاعل لاگت $c(x) = x^3 - 6x^2 + 15x$ اور تفاعل آمدنی $r(x) = 6x$ ہوں تب دکھائیں کہ آپ نامنافع نا نقصان سے زیادہ بہتر صورت حاصل نہیں کر سکتے ہیں۔

سوال ۴.۴۰۴: فرض کریں x اشیاء کی پیداوار میں لاگت $c(x) = x^3 - 20x^2 + 20000x$ ہے۔ کتنی پیداوار اوسط لاگت پیداوار کو کم سے کم کرے گی؟

۴.۷ خط بندی اور تفرقات

بعض اوقات پیچیدہ تفاعل کو سادہ تخمینی تفاعل سے ظاہر کرتے ہوئے مخصوص موقعوں پر قابل قبول نتائج حاصل کرنا ممکن ہوتا ہے۔ ان سادہ تفاعل کے ساتھ کام کرنا زیادہ آسان ثابت ہوتا ہے۔ اس حصہ میں مماس پر مبنی **خط بندی**[۲۱] پر غور کیا گیا ہے۔

ہم نئے متغیرات $\mathrm{d}x$ اور $\mathrm{d}y$ متعارف کرتے ہیں جو $\frac{\mathrm{d}y}{\mathrm{d}x}$ کو نئی معنی دیں گے۔ ہم تجرباتی پیمائش میں خلل اور حساسیت کو $\mathrm{d}y$ سے ظاہر کریں گے۔

خطی تخمین

آپ شکل ۴.۹۰ میں دیکھ سکتے ہیں کہ منحنی $y = f(x)$ کا مماس نقطہ مماس کے نزدیک منحنی کے قریب رہتا ہے۔ نقطہ مماس کے دونوں اطراف چھوٹے وقفہ پر مماس کی y قیمت کو منحنی کی y تخمینی قیمت تصور کیا جا سکتا ہے۔

---

[۲۱] linearization

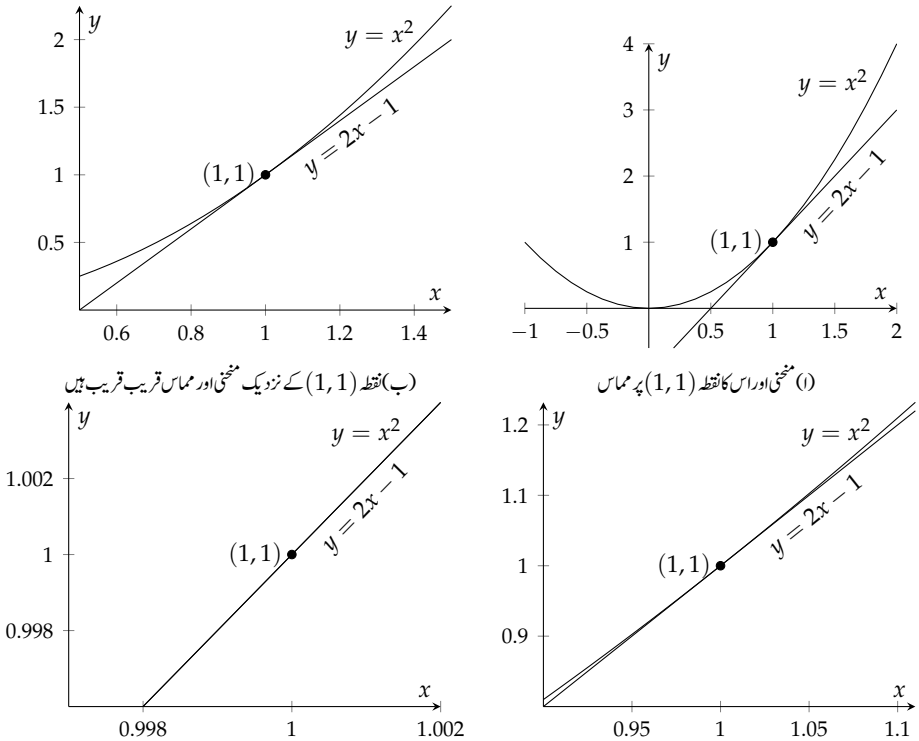

(ا) منحنی اور اس کا نقطہ $(1, 1)$ پر مماس

(ب) نقطہ $(1, 1)$ کے نزدیک منحنی اور مماس قریب قریب ہیں

(ج) دکھائے گئے وقفہ پر مماس اور منحنی بہت قریب ہیں

(د) دکھائے گئے وقفے پر منحنی اور مماس میں فرق کرنا مشکل ہے

شکل ۹۰.۴: قابل تفرق منحنی کو نقطہ مماس کے قریب تخمینی طور پر اس نقطے کے مماس سے ظاہر کیا جا سکتا ہے

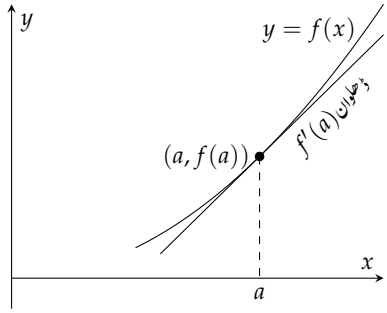

شکل ۹۱.۴: نقطہ a پر تفاعل $f(x)$ کا مماس $y = f(a) + f'(a)(x-a)$ ہوگا

۵۸۴۷ شکل ۹۱.۴ کی علامتیت استعمال کرتے ہوئے، نقطہ $(a, f(a))$ سے گزرتے ہوئے مماس کی نقطہ وڈھلوان مساوات

$$y = f(a) + f'(a)(x-a)$$

۵۸۴۸ ہے۔ یوں مماس درج ذیل تفاعل

$$L(x) = f(a) + f'(a)(x-a)$$

۵۸۴۹ کی ترسیم ہے۔ جب تک یہ خط منحنی کے نزدیک رہے اس کو $f(x)$ کی تخمین تصور کیا جا سکتا ہے۔

۵۸۵۰ تعریف:

۵۸۵۱ اگر $x = a$ پر f قابل تفرق ہو تب تخمینی تفاعل

$$L(x) = f(a) + f'(a)(x-a) \tag{1}$$

۵۸۵۲ نقطہ a پر f کی **خط بندی**[۲۲] ہوگی۔ f کی درج ذیل تخمین L

$$f(x) \approx L(x)$$

۵۸۵۳ نقطہ a پر تفاعل f کی **معیاری خطی تخمین**[۲۳] ہے۔ نقطہ $x = a$ اس تخمین کا وسط[۲۴] ہے۔

۵۸۵۴ □

۵۸۵۵ مثال ۴۰.۴: $x = 0$ پر $f(x) = \sqrt{1+x}$ کی خط بندی تلاش کریں۔

۵۸۵۶ حل: ہم $a = 0$ پر مساوات ۱ کی درکار صورت حاصل کرتے ہیں جہاں

$$f'(x) = \frac{1}{2}(1+x)^{-\frac{1}{2}}$$

---

[۲۲] linearization
[۲۳] standardlinearapproximation
[۲۴] center

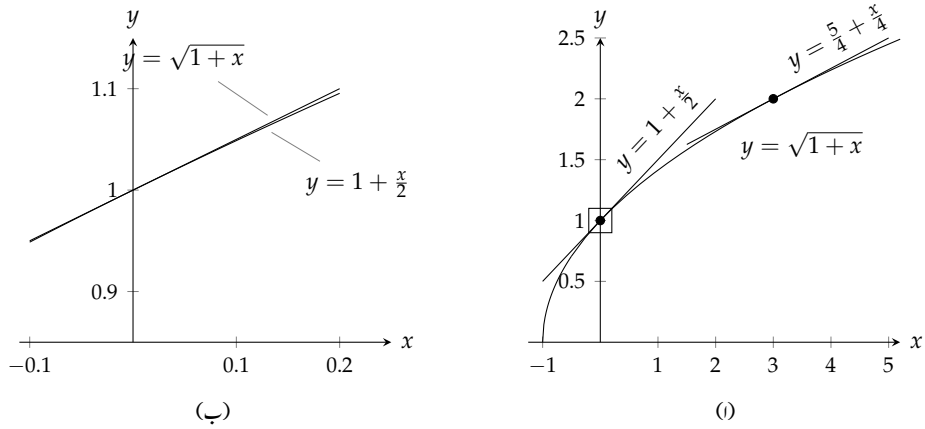

شکل ۴.۹۲: نقطہ $x = 0$ پر $y = \sqrt{1+x}$ اور اس کی خط بندی۔

۵۸۵۷ لیتے ہوئے $f(0) = 1$ اور $f'(0) = \frac{1}{2}$ ہوں گے لہٰذا

$$L(x) = f(a) + f'(a)(x-a) = 1 + \frac{1}{2}(x-0) = 1 + \frac{x}{2}$$

۵۸۵۸ ہو گا۔ شکل ۴.۹۲-الف میں منحنی اور مماس دکھائے گئے ہیں۔ شکل-ا میں مماسی نقطہ کو ڈبہ میں دکھایا گیا ہے۔ اس ڈبے کو شکل-ب میں بڑا کر کے دکھایا گیا
۵۸۵۹ ہے۔ □

۵۸۶۰ تخمین $\sqrt{1+x} \approx 1 + \frac{x}{2}$ (شکل ۴.۹۲-ب) سے درج ذیل قیمتیں حاصل ہوتی ہیں۔

$$\sqrt{1.2} \approx 1 + \frac{0.2}{2} = 1.10 \qquad \text{2 اعشاریہ درست}$$

$$\sqrt{1.05} \approx 1 + \frac{0.05}{2} = 1.025 \qquad \text{3 اعشاریہ درست}$$

$$\sqrt{1.005} \approx 1 + \frac{0.005}{2} = 1.00250 \qquad \text{5 اعشاریہ درست}$$

۵۸۶۱ ان حساب سے اس غلط فہمی میں مبتلا مت ہونا کہ خط بندی استعمال کرتے ہوئے جو بھی کرنا ممکن ہو، کیلکولیٹر کا استعمال اس سے بہتر ہو گا۔ حقیقت میں ہم کبھی
۵۸۶۲ بھی خط بندی سے جذر تلاش نہیں کریں گے۔ خط بندی کی افادیت اس حقیقت میں ہے کہ وقفہ دلچسپی پر ہم پیچیدہ کلیہ کی جگہ سادہ کلیہ استعمال کر پاتے ہیں۔ اگر
۵۸۶۳ ہمیں 0 کے قریب x کی قیمتوں کے لئے $\sqrt{1+x}$ کے ساتھ کام کرنا ہو اور ہم معمولی خلل کو برداشت کر سکتے ہوں تب بہتر ہو گا کہ اس کے بجائے ہم
۵۸۶۴ $1 + \frac{x}{2}$ کے ساتھ کام کریں۔ ظاہر ہے ایسی صورت میں ہم جاننا چاہیں گے کہ ایسا کرنے سے کتنا خلل پیدا ہو گا۔ ایسے خلل پر باب ۹ میں غور کیا جائے گا۔

۵۸۶۵ وسط سے دور خط بندی میں خلل ناقابل نظر انداز ہو گا۔ یوں $\sqrt{1+x} = 1 + \frac{x}{2}$ کو $x = 3$ کے نزدیک استعمال نہیں کیا جا سکتا ہے۔ آپ کو
۵۸۶۶ $x = 3$ پر نئی خط بندی حاصل کرنی ہو گی۔

۵۸۶۷ مثال ۴.۴۱: $x = 3$ پر تفاعل $f(x) = \sqrt{1+x}$ کی خط بندی حاصل کریں۔

۵۸۶۸ حل: ہم $a = 3$ پر مساوات ۱ کی درکار صورت حاصل کرتے ہیں جہاں

$$f(3) = 2, \quad f'(3) = \frac{1}{2}(1+x)^{-\frac{1}{2}}\Big|_{x=3} = \frac{1}{4}$$

۵۸۶۹ ہے لہٰذا

$$L(x) = 2 + \frac{1}{4}(x-3) = \frac{5}{4} + \frac{x}{4}$$

۵۸۷۰ ہو گا (شکل ۴.۹۲-ا)۔ اس خط بندی سے $x = 3.2$ پر

$$\sqrt{1+x} = \sqrt{1+3.2} \approx \frac{5}{4} + \frac{3.2}{4} = 1.250 + 0.800 = 2.050$$

۵۸۷۱ حاصل ہوتا ہے جو بالکل درست جواب $\sqrt{4.2} \approx 2.04939$ سے 0.000 61 ہٹ کر ہے۔

۵۸۷۲ اگر ہم مثال ۴.۴۰ میں حاصل خط بندی استعمال کریں تب

$$\sqrt{+x} = \sqrt{1+3.2} \approx 1 + \frac{3.2}{2} = 1 + 1.6 = 2.6$$

۵۸۷۳ حاصل ہو گا جس میں 25 % خلل پایا جاتا ہے۔ □

۵۸۷۴ مثال ۴.۴۲: جذروں اور طاقتوں کے لئے اہم ترین خط بندی درج ذیل ہے (سوال ۴.۴۲۴)۔

$$(1+x)^k \approx 1 + kx \qquad x \approx 0 \text{؛ } k \text{ کوئی عدد ہے} \tag{۲}$$

۵۸۷۵ $x = 0$ کے نزدیک یہ قابل قبول نتائج دیتا ہے اور یہ وسیع طور استعمال ہوتا ہے۔ □

۵۸۷۶ مساوات ۲ سے درج ذیل کلیات اخذ کیے جا سکتے ہیں جن کا وسط $x = 0$ ہے۔

$$\sqrt{1+x} = (1+x)^{\frac{1}{2}} \approx 1 + \frac{x}{2} \qquad k = \frac{1}{2}$$

$$\frac{1}{1-x} = (1-x)^{-1} \approx 1 + (-1)(-x) = 1 + x \qquad k = -1$$

$$\sqrt[3]{1+5x^4} = (1+5x^4)^{\frac{1}{3}} = 1 + \frac{1}{3}(5x^4) = 1 + \frac{5}{3}x^4 \qquad k = \frac{1}{3}$$

$$\frac{1}{\sqrt{1-x^2}} = (1-x^2)^{-\frac{1}{2}} \approx 1 + (-\tfrac{1}{2})(-x^2) = 1 + \frac{x^2}{2} \qquad k = -\frac{1}{2}$$

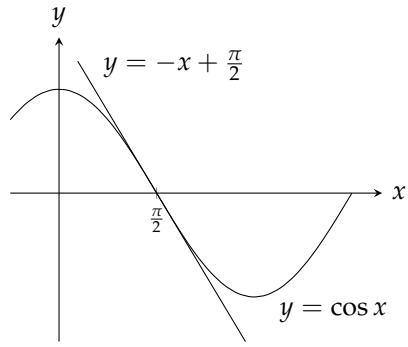

شکل ۴.۹۳: کوسائن اور نقطہ $x = \frac{\pi}{2}$ پر اس کی خط بندی۔

۵۸۷۷ دیگر اہم خط بندی درج ذیل ہیں (اس حصہ کے آخر میں دیے سوالات میں آپ انہیں اخذ کریں گے) جن کا وسط $x = 0$ ہے۔

$$\sin x \approx x$$
$$\cos x \approx 1$$
$$\tan x \approx x$$

۵۸۷۸ مثال ۴.۴۳: $x = \frac{\pi}{2}$ پر $f(x) = \cos x$ کی خط بندی حاصل کریں۔

۵۸۷۹ حل: درج ذیل

$$f(\tfrac{\pi}{2}) = \cos(\tfrac{\pi}{2}) = 0, \quad f'(\tfrac{\pi}{2}) = -\sin(\tfrac{\pi}{2}) = -1$$

۵۸۸۰ لیتے ہوئے خط بندی درج ذیل ہو گی (شکل ۴.۹۳)۔

$$L(x) = f(a) + f'(a)(x-a) = 0 + (-1)(x - \tfrac{\pi}{2}) = -x + \tfrac{\pi}{2}$$

۵۸۸۱ □

۵۸۸۲ **تفرقات**

۵۸۸۳ تعریف:

۵۸۸۴ فرض کریں $y = f(x)$ قابل تفرق تفاعل ہے۔ **تفرق** $\mathrm{d}x$ غیر تابع متغیر ہے۔ **تفرق** $\mathrm{d}y$ درج ذیل ہے۔

$$\mathrm{d}y = f'(x)\,\mathrm{d}x$$

۵۸۸۵ □

۵۸۸۶ عموماً تفرق $\mathrm{d}x$ غیر تابع متغیر میں تبدیلی Δx ہو گی۔ البتہ تعریف میں ہم $\mathrm{d}x$ پر یہ شرط لاگو نہیں کرتے ہیں۔ تفرق $\mathrm{d}y$ ہر صورت تابع ہو گا اور اس
۵۸۸۷ کی قیمت x اور $\mathrm{d}x$ پر منحصر ہو گی۔

۵۸۸۸ مثال ۴.۴۴: $y = x^5 + 37x$ اور $y = \sin 3x$ کے لئے $\mathrm{d}y$ تلاش کریں۔
۵۸۸۹ حل:

$$\mathrm{d}y = (5x^4 + 37)\,\mathrm{d}y, \quad \mathrm{d}y = (3\cos 3x)\,\mathrm{d}x$$

۵۸۹۰ □

۵۸۹۱ اگر $\mathrm{d}x \neq 0$ ہو تب ہم مساوات $\mathrm{d}y = f'(x)\,\mathrm{d}x$ کے دونوں اطراف کو $\mathrm{d}x$ سے تقسیم کر کے جانی پہچانی مساوات

$$\frac{\mathrm{d}y}{\mathrm{d}x} = f'(x)$$

۵۸۹۲ حاصل کرتے ہیں۔ یہ مساوات کہتی ہے کہ $\mathrm{d}x \neq 0$ کی صورت میں $f'(x)$ تفرقات کا حاصل تقسیم ہو گا۔

۵۸۹۳ بعض اوقات ہم $\mathrm{d}f'(x)\,\mathrm{d}x$ کے بجائے

$$\mathrm{d}f = f'(x)\,\mathrm{d}x$$

۵۸۹۴ لکھتے ہیں اور $\mathrm{d}f$ کو f کا **تفرق** کہتے ہیں۔ مثال کے طور پر $f(x) = 3x^2 - 6$ کی صورت میں

$$\mathrm{d}f = \mathrm{d}(3x^2 - 6) = 6x\,\mathrm{d}x$$

۵۸۹۵ ہو گا۔

۵۸۹۶ تفرق کے ہر کلیہ مثلاً

$$\frac{\mathrm{d}(u+v)}{\mathrm{d}x} = \frac{\mathrm{d}u}{\mathrm{d}x} + \frac{\mathrm{d}v}{\mathrm{d}x}$$

۵۸۹۷ کے دونوں اطراف کو $\mathrm{d}x$ سے ضرب دے کر مطابقتی تفرقی روپ

$$\mathrm{d}(u+v) = \mathrm{d}u + \mathrm{d}v$$

۵۸۹۸ حاصل ہو گی۔ چند تفرقی کلیات پیش کرتے ہیں۔

$$\begin{array}{lll}
\mathrm{d}c = 0, & \mathrm{d}(cu) = c\,\mathrm{d}u, & \mathrm{d}(u+v) = \mathrm{d}u + \mathrm{d}v, \\
\mathrm{d}(uv) = u\,\mathrm{d}v + v\,\mathrm{d}u, & \mathrm{d}(\frac{u}{v}) = \frac{v\,\mathrm{d}u - u\,\mathrm{d}v}{v^2}, & \mathrm{d}(u^n) = nu^{n-1}\,\mathrm{d}u, \\
\mathrm{d}(\sin u) = \cos u\,\mathrm{d}u, & \mathrm{d}(\cos u) = -\sin u\,\mathrm{d}u, & \mathrm{d}(\tan u) = \sec^2 u\,\mathrm{d}u, \\
\mathrm{d}(\cot u) = -\csc^2 u\,\mathrm{d}u, & \mathrm{d}(\sec u) = \sec u \tan u\,\mathrm{d}u, & \mathrm{d}(\csc u) = -\csc u \cot u\,\mathrm{d}u
\end{array}$$

۵۸۹۹ مثال ۴۵.۴:

$$\mathrm{d}(\tan 2x) = \sec^2(2x)\,\mathrm{d}(2x) = 2\sec^2 2x\,\mathrm{d}x$$
$$\mathrm{d}(\tfrac{x}{x+1}) = \frac{(x+1)\,\mathrm{d}x - x\,\mathrm{d}(x+1)}{(x+1)^2} = \frac{x\,\mathrm{d}x + \mathrm{d}x - x\,\mathrm{d}x}{(x+1)^2} = \frac{\mathrm{d}x}{(x+1)^2}$$

۵۹۰۰ □

۵۹۰۱ **تفرقات کی مدد سے تبدیلی کی اندازاً قیمت**

۵۹۰۲ فرض کریں نقطہ x_0 پر قابل تفرق تفاعل $f(x)$ کی قیمت ہم جانتے ہیں۔ ہم جاننا چاہتے ہیں کہ کسی نزدیک نقطہ $x_0 + \mathrm{d}x$ پر جانے سے تفاعل کی
۵۹۰۳ قیمت میں تبدیلی کتنی ہو گی۔ اگر $\mathrm{d}x$ نہایت کم ہو تب f اور x_0 پر اس کی خط بندی L ایک دوسرے کے برابر تبدیل ہوں گے۔ چونکہ L کا حساب
۵۹۰۴ زیادہ آسان ہے لہٰذا اس کی مدد لینا سود مند ثابت ہو گا۔

۵۹۰۵ شکل ۹۴.۴ میں دیے علامتوں کو استعمال کرتے ہوئے f میں تبدیلی لکھتے ہیں۔

$$\Delta f = f(x_0 + \mathrm{d}x) - f(x_0)$$

۵۹۰۶ L میں مطابقتی تبدیلی درج ذیل ہو گی۔

$$\begin{aligned}\Delta L &= L(x_0 + \mathrm{d}x) - L(x_0)\\ &= \underbrace{f(x_0) + f'(x_0)[(x_0 + \mathrm{d}x) - x_0]}_{L(x_0+\mathrm{d}x)} - \underbrace{f(x_0)}_{L(x_0)=f(x_0)}\\ &= f'(x_0)\,\mathrm{d}x\end{aligned}$$

۵۹۰۷ تفرق $\mathrm{d}f = f'(x)\,\mathrm{d}x$ کا جیومیٹریائی مطلب پر غور کریں۔ جب $x = x_0$ پر $\mathrm{d}f$ کی قیمت حاصل کی جائے تب $\mathrm{d}f = \Delta L$ ہو گا یعنی
۵۹۰۸ خط بندی میں تبدیل $\mathrm{d}f$ کے برابر ہو گی۔ **تفرق تبدیلی کی اندازاً قیمت**
۵۹۰۹ فرض کریں $x = x_0$ پر $f(x)$ قابل تفرق ہے۔ x کی قیمت x_0 سے $x_0 + \mathrm{d}x$ کرنے سے f میں تبدیلی تخمیناً درج ذیل ہو گا۔

$$\mathrm{d}f = f'(x_0)\,\mathrm{d}x$$

۵۹۱۰ مثال ۴۶.۴: ایک دائرے کا رداس $r_0 = 10\,\mathrm{cm}$ سے $10.1\,\mathrm{cm}$ کیا جاتا ہے۔ $\mathrm{d}S$ کا حساب کرتے ہوئے اس کے رقبہ S میں
۵۹۱۱ تبدیلی حاصل کریں۔ اس کا موازنہ حقیقی تبدیلی ΔS کے ساتھ کریں۔
۵۹۱۲ حل: چونکہ $S = \pi r^2$ ہے لہٰذا اندازاً تبدیلی

$$\mathrm{d}S = S'(r_0)\,\mathrm{d}r = 2\pi r_0\,\mathrm{d}r = 2\pi(10)(0.1) = 2\pi\,\mathrm{m}^2$$

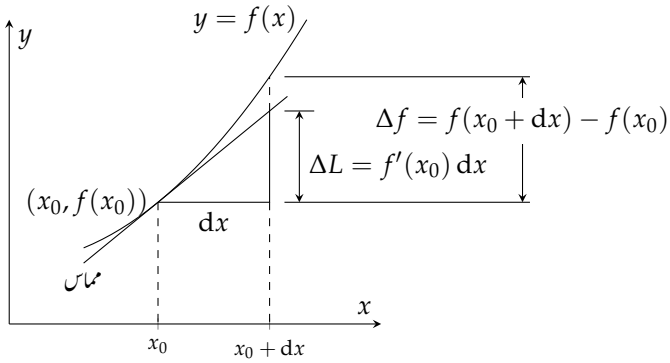

شکل ۴.۹۴: چھوٹے $\mathrm{d}x$ کی صورت میں f کی خط بندی تقریباً f میں تبدیلی کے برابر ہو گی۔

جدول ۴.۱: تبدیلی کے اظہار کے تین طریقے

	اصل	اندازاً
حتمی تبدیلی	$\Delta f = f(x_0 + \mathrm{d}x) - f(x_0)$	$\mathrm{d}f = f'(x_0)\,\mathrm{d}x$
اضافی تبدیلی	$\frac{\Delta f}{f(x_0)}$	$\frac{\mathrm{d}f}{f(x_0)}$
فی صد تبدیلی	$\frac{\Delta f}{f(x_0)} \times 100$	$\frac{\mathrm{d}f}{f(x_0)} \times 100$

۵۹۱۳ ہو گی۔ حقیقی تبدیل درج ذیل ہے۔

$$\Delta S = \pi(10.1)^2 - \pi(10)^2 = (102.01 - 100)\pi = \underbrace{2\pi}_{\mathrm{d}S} + \underbrace{0.01\pi}_{\text{خلل}}$$

۵۹۱۴ □

۵۹۱۵ **مطلق، اضافی، اور فی صد تبدیلی**

۵۹۱۶ x_0 سے نزدیک نقطہ $x_0 + \mathrm{d}x$ منتقل ہوتے ہوئے ہم f میں تبدیلی کو تین طریقوں سے ظاہر کر سکتے ہیں جنہیں جدول ۴.۱ میں دکھایا گیا ہے۔

۵۹۱۷ مثال ۴.۴۷: گزشتہ مثال میں فی صد اندازاً تبدیلی درج ذیل ہے۔

$$\frac{\mathrm{d}S}{S(r_0)} \times 100 = \frac{2\pi}{100\pi} \times 100 = 2\,\%$$

۵۹۱۸ □

۵۹۱۹ مثال ۴.۴۸: زمین کا سطحی رقبہ

۵۹۲۰ زمین کو کرہ تصور کریں جس کا رداس $6371 \mp 0.1\,\mathrm{km}$ ہے۔ زمین کے رقبہ میں خلل کتنا ہو گا؟

۵۹۲۱ حل: رداس r کے کرہ کا سطحی رقبہ $S = 4\pi r^2$ ہوتا ہے۔ r میں خلل کی وجہ سے S میں خلل درج ذیل ہو گا۔

$$\mathrm{d}S = \left(\frac{\mathrm{d}S}{\mathrm{d}r}\right)\mathrm{d}r = 8\pi r\,\mathrm{d}r = 8\pi(6371)(0.1) = 16\,012\,\mathrm{km}^2$$

۵۹۲۲ □

۵۹۲۳ مثال ۴.۴۹: رداس r کے کرہ کا رقبہ $1\,\%$ درست حاصل کرنے کی خاطر اس کا رداس کتنا درست ناپنا ہو گا؟

۵۹۲۴ حل: ہم چاہتے ہیں کہ رداس میں تبدیلی اتنی کم ہو کہ درج ذیل مطمئن ہوتا ہو۔

$$|\Delta S| \leq \frac{S}{100} = \frac{4\pi r^2}{100}$$

۵۹۲۵ ہم اس عدم مساوات میں Δs کی جگہ

$$\mathrm{d}S = \left(\frac{\mathrm{d}S}{\mathrm{d}r}\right)\mathrm{d}r = 8\pi r\,\mathrm{d}r$$

۵۹۲۶ پر کرتے ہیں۔ یوں

$$|8\pi r\,\mathrm{d}r| \leq \frac{4\pi r^2}{100} \quad \Longrightarrow \quad |\mathrm{d}r| \leq \frac{1}{8\pi r}\cdot\frac{4\pi r^2}{100} = \frac{1}{2}\frac{r}{100}$$

۵۹۲۷ حاصل ہوتا ہے۔ یوں رداس میں خلل اصل رداس کے $0.5\,\%$ سے کم ہونا ضروری ہے۔ □

۵۹۲۸ مثال ۴.۵۰: بند شریانوں کا کھولنا (انجیوپلاسٹی[۲۵])

۵۹۲۹ جزوی طور پر بند شریانوں کی رداس کو بڑا کرتے ہوئے خون کی عمومی بہاو حاصل کی جا سکتی ہے۔ ۱۸۳۰ء کے لگ بھگ فرانس کے جین پوزوئے نے درج ذیل

۵۹۳۰ کلیہ اخذ کیا

$$H = kr^4 \qquad (k\ \text{مستقل})$$

۵۹۳۱ جو مستقل دباو پر فی اکائی وقت میں ایک چھوٹی نالی میں حجم بہاو H دیتا ہے۔ اس نالی کا رداس r ہے۔ رداس $10\,\%$ بڑھانے سے بہاو پر کیا اثر ہو گا؟

۵۹۳۲ حل: r اور H کے تفرقات کا تعلق لکھتے ہیں۔

$$\mathrm{d}H = \frac{\mathrm{d}H}{\mathrm{d}r}\,\mathrm{d}r = 4kr^3\,\mathrm{d}r$$

---

[۲۵] angioplasty

۵۹۳۳ یوں

$$\frac{\mathrm{d}H}{H} = \frac{4kr^3\,\mathrm{d}r}{kr^4} = 4\frac{\mathrm{d}r}{r}$$

۵۹۳۴ ہو گا یعنی H میں اضافی تبدیل r کی اضافی تبدیلی کے 4 گنا ہے۔ یوں r میں $10\,\%$ تبدیلی سے H میں $40\,\%$ تبدیلی پیدا ہو گی۔ □

۵۹۳۵ **حساسیت**

۵۹۳۶ مختلف x پر مساوات $\mathrm{d}f = f'(x)\,\mathrm{d}x$ ہمیں f کی حساسیت دیتی ہے۔ x پر f' کی قیمت جتنی زیادہ ہو، کسی بھی تبدیلی $\mathrm{d}x$ کے لئے
۵۹۳۷ f میں تبدیلی اتنی زیادہ ہو گی۔

۵۹۳۸ مثال ۴.۵۱: آپ ایک پل کی اونچائی ناپنے کی خاطر ایک پتھر کو پانی میں گرا کر چھینٹوں کی آواز آنے تک وقت ناپتے ہیں۔ آپ $s = 4.9t^2$ استعمال
۵۹۳۹ کرتے ہیں۔ 0.1 سیکنڈ خلل کے لحاظ سے آپ کے جواب کی حساسیت کیا ہو گی؟
۵۹۴۰ حل: مساوات $\mathrm{d}s = 9.8t\,\mathrm{d}t$ میں s کی قیمت کا دارومدار t پر ہے۔ اگر $t = 2$ ہو تب

$$\mathrm{d}s = 9.8(2)(0.1) = 1.96\,\mathrm{m}$$

۵۹۴۱ ہو گا جبکہ تین سیکنڈ بعد $t = 5\,\mathrm{s}$ پر خلل درج ذیل ہو گا۔

$$\mathrm{d}s = 9.8(5)(0.1) = 4.9\,\mathrm{m}$$

۵۹۴۲ □

۵۹۴۳ **تخمین $\Delta f \approx \mathrm{d}f$ میں خلل**

۵۹۴۴ فرض کریں $x = x_0$ پر $f(x)$ قابل تفرق ہے اور x میں تبدیلی Δx ہے۔ ہم $f(x)$ کی مطابقتی تبدیلی کو دو طریقوں سے بیان کر سکتے ہیں۔

اصل تبدیلی	$\Delta f = f(x_0 + \Delta x) - f(x_0)$
تفرقی اندازہ	$\mathrm{d} = f'(x_0)\Delta x$

۵۹۴۵ $\mathrm{d}f$ اصل تبدیلی Δf کی کتنی قریبی تخمین ہے؟

ہم خلل تخمین کو حاصل کرتے ہیں۔

$$\begin{aligned}
\text{خلل تخمین} &= \Delta f - \mathrm{d}f \\
&= \Delta f - f'(x_0)\Delta x \\
&= \underbrace{f(x_0+\Delta x) - f(x_0)}_{\Delta f} - f'(x_0)\Delta x \\
&= \underbrace{\left(\frac{f(x_0+\Delta x) - f(x_0)}{\Delta x} - f'(x_0)\right)}_{\text{اس حصہ کو } \epsilon \text{ کہیں}} \Delta x \\
&= \epsilon \cdot \Delta x
\end{aligned}$$

$\Delta x \to 0$ کرنے سے $\frac{f(x_0+\Delta x)-f(x_0)}{\Delta x}$ کی قیمت $f'(x_0)$ تک پہنچتی ہے ($f'(x_0)$ کی تعریف دوبارہ دیکھیں)۔ یوں قوسین میں بند قیمت نہایت چھوٹی ہو گی اور اسی لئے ہم اس کو ϵ لکھتے ہیں۔ درحقیقت $\Delta x \to 0$ کرنے سے $\epsilon \to 0$ ہو گا جب Δx چھوٹا ہو تخمینی خلل $\epsilon\Delta x$ مزید چھوٹا ہو گا۔

$$\underbrace{\Delta f}_{\text{اصل تبدیلی}} = \underbrace{f'(x_0)\Delta x}_{\text{اندازاً تبدیلی}} + \underbrace{\epsilon\Delta x}_{\text{خلل}}$$

اگرچہ ہمیں یہاں معلوم نہیں ہے کہ خلل کتنا چھوٹا ہو گا (جسے جاننے کے لئے ہمیں باب ۹ کا انتظار کرنا ہو گا) یہ ضروری ہے کہ اس مساوات کی صورت پر ہم غور کریں۔

اگر $x = x_0$ پر $y = f(x)$ قابل تفرق ہو اور x کی قیمت x_0 سے تبدیل ہو کر $x_0 + \Delta x$ ہو جائے تب f میں تبدیلی Δy کی مساوات کی صورت

$$\Delta y = f'(x_0)\Delta x + \epsilon\Delta x \tag{۳}$$

ہو گی جہاں $\Delta x \to 0$ کرنے سے $\epsilon \to 0$ ہو گا۔

خلل کی مساوات (مساوات ۳) کی صورت جانتے ہوئے ہم زنجیری تفرق کا قاعدہ ثابت کر سکتے ہیں۔

زنجیری تفرق کا ثبوت

زنجیری قاعدہ کے بارے میں ہم حصہ ۵.۳ میں بات کی گئی جہاں اس کا ثبوت پیش نہیں کیا گیا۔ آئیں مساوات ۳ کی مدد سے زنجیری قاعدے کا ثبوت پیش کریں۔

فرض کریں $f(u)$ متغیر u کا قابل تفرق تفاعل ہے اور $u = g(x)$ متغیر x کا قابل تفرق تفاعل ہے۔ ہم ثابت کرنا چاہیں گے کہ اگر x_0 پر g قابل تفرق ہو اور $g(x_0)$ پر f قابل تفرق ہو تب مرکب تفاعل x_0 پر قابل تفرق ہو گا اور اس کا تفرق درج ذیل ہو گا۔

$$\left.\frac{\mathrm{d}y}{\mathrm{d}x}\right|_{x=x_0} = f'(g(x_0)) \cdot g'(x_0)$$

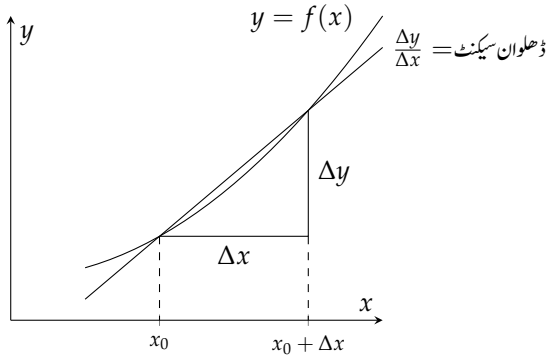

شکل ۴.۹۵: $x = x_0$ پر y کے تفرق سے مراد $\lim_{\Delta x \to 0} \frac{\Delta y}{\Delta x}$ ہے۔

۵۹۶۰ فرض کریں x میں اضافہ Δx ہے اور فرض کریں کہ u اور y میں مطابقتی اضافے بالترتیب Δu اور Δy ہیں۔ جیسا آپ شکل ۴.۹۵ میں دیکھ سکتے
۵۹۶۱ ہیں

$$\left.\frac{\mathrm{d}y}{\mathrm{d}x}\right|_{x=x_0} = \lim_{\Delta x \to 0} \frac{\Delta y}{\Delta x}$$

۵۹۶۲ ہو گا لہٰذا ہم ثابت کرنا چاہیں گے کہ یہ حد $f'(g(x_0)) \cdot g'(x_0)$ کے برابر ہو گا۔

۵۹۶۳ مساوات ۳ کے تحت

$$\Delta u = g'(x_0)\Delta x + \epsilon_1 \Delta x = (g'(x_0) + \epsilon_1)\Delta x$$

۵۹۶۴ ہو گا جہاں $\Delta x \to 0$ کرنے سے $\epsilon_1 \to 0$ ہو گا۔ اسی طرح

$$\Delta y = f'(u_0)\Delta u + \epsilon_2 \Delta u = (f'(u_0) + \epsilon_2)\Delta u$$

۵۹۶۵ ہو گا جہاں $\Delta u \to 0$ کرنے سے $\epsilon_2 \to 0$ ہو گا۔ Δu اور Δy کی مساواتوں کو ملا کر

$$\Delta y = (f'(u_0) + \epsilon_2)(g'(x_0) + \epsilon_1)\Delta x$$

۵۹۶۶ حاصل ہوتا ہے لہٰذا

$$\frac{\Delta y}{\Delta x} = f'(u_0)g'(x_0) + \epsilon_2 g'(x_0) + f'(u_0)\epsilon_1 + \epsilon_2 \epsilon_1$$

۵۹۶۷ ہو گا۔ چونکہ $\Delta x \to 0$ کرنے سے $\epsilon_1 \to 0$ اور $\epsilon_2 \to 0$ ہوں گے لہٰذا دائیں ہاتھ تین اجزاء قابل نظر انداز ہوں گے۔ یوں درج ذیل ہو گا۔

$$\lim_{\Delta x \to 0} \frac{\Delta y}{\Delta x} = f'(u_0)g'(x_0) = f'(g(x_0)) \cdot g'(x_0)$$

۵۹۶۸ یوں ثبوت مکمل ہوتا ہے۔

۵۹۶۹ **کمیت کا توانائی میں تبادل**

۵۹۷۰ نیوٹن کا دوسرا قانون

$$F = \frac{\mathrm{d}}{\mathrm{d}x}(mv) = m\frac{\mathrm{d}v}{\mathrm{d}t} = ma$$

۵۹۷۱ کمیت کے اٹل ہونے پر مبنی ہے۔ جیسا آپ جانتے ہیں حقیقت میں کمیت کی قیمت سمتی رفتار پر منحصر ہے یعنی

$$m = \frac{m_0}{\sqrt{1-\frac{v^2}{c^2}}}$$

۵۹۷۲ جہاں ساکن کمیت m_0 ہے اور روشنی کی رفتار $c = 3 \times 10^8\,\mathrm{m\,s^{-1}}$ ہے۔ اگر کمیت کی سمتی رفتار v روشنی کی رفتار سے بہت کم ہو تب ہم

۵۹۷۳ تخمینی طور پر

$$\frac{1}{\sqrt{1-\frac{v^2}{c^2}}} \approx 1 + \frac{1}{2}\left(\frac{v^2}{c^2}\right)$$

۵۹۷۴ لکھ سکتے ہیں۔ یوں

$$m = \frac{m}{\sqrt{1-\frac{v^2}{c^2}}} \approx m_0\left[1+\frac{1}{2}\left(\frac{v^2}{c^2}\right)\right] = m_0 + \frac{1}{2}m_0v^2\left(\frac{1}{c^2}\right)$$

۵۹۷۵ یعنی

$$m = m_0 + \frac{1}{2}m_0v^2\left(\frac{1}{c^2}\right) \tag{۴}$$

۵۹۷۶ ہو گا۔ مساوات ۴ رفتار کی وجہ سے کمیت میں اضافہ بیان کرتی ہے۔

۵۹۷۷ طبیعیات نیوٹن میں $\frac{1}{2}m_0v^2$ کو جسم کی حرکی توانائی کہتے ہیں اور اگر ہم مساوات ۴ کو

$$(m-m_0)c^2 \approx \frac{1}{2}m_0v^2$$

۵۹۷۸ لکھیں تب

$$(m-m_0)c^2 \approx \frac{1}{2}m_0v^2 = \frac{1}{2}m_0v^2 - \frac{1}{2}m_0(0)^2 = \Delta(\text{حرکی توانائی})$$

۵۹۷۹ یعنی

$$(\Delta m)c^2 \approx \Delta(\text{حرکی توانائی}) \tag{۵}$$

ہو گا۔ یوں صفر سمتی رفتار سے v سمتی رفتار تک پہنچنے سے حرکی توانائی میں تبدیلی تقریباً $(\Delta m)c^2$ ہو گی۔

مساوات ۵ میں $c = 3 \times 10^8\ \mathrm{m\,s^{-1}}$ پر کرتے ہوئے

$$\Delta(\text{حرکی توانائی}) \approx 90\,000\,000\,000\,000\,000\ \Delta m$$

توانائی حاصل ہو گی جہاں کمیت کی اکائی kg اور توانائی کی اکائی جاول J ہے۔ آپ دیکھ سکتے ہیں کہ کمیت میں معمولی تبدیلی سے توانائی میں بہت بڑی تبدیلی آتی ہے۔ 20 کلوٹن ایٹمی بم میں ایک گرام سے کم کمیت توانائی میں تبدیل ہوتی ہے۔ 20 کلوٹن ایٹمی بم سے مراد وہ ایٹمی بم ہے جو 20 000 ٹن یعنی 2×10^7 kg بارودی مواد (ٹی این ٹی[۲۶]) کے دھماکہ کے برابر توانائی خارج کرتا ہو۔

سوالات

خط بندی کی تلاش

سوال ۴.۴۰۵ تا سوال ۴.۴۱۰ میں $x = a$ پر $f(x)$ کی خط بندی $L(x)$ تلاش کریں۔

سوال ۴.۴۰۵: $f(x) = x^4, \quad x = 1$

سوال ۴.۴۰۶: $f(x) = x^{-1}, \quad x = 2$

سوال ۴.۴۰۷: $f(x) = x^3 - x, \quad x = 1$

سوال ۴.۴۰۸: $f(x) = x^3 - 2x + 3, \quad x = 2$

سوال ۴.۴۰۹: $f(x) = \sqrt{x}, \quad x = 4$

سوال ۴.۴۱۰: $f(x) = \sqrt{x^2 + 9}, \quad x = -4$

آپ سوال ۴.۴۱۱ تا سوال ۴.۴۱۶ میں دیے تفاعل کی خط بندی استعمال کرنا چاہتے ہیں۔ بعد کا کام آسان بنانے کی خاطر آپ خط بندی کے وقفے کا وسط دیے گئے نقطہ x_0 کے نزدیک عدد صحیح پر رکھنا چاہیں گے جہاں تفاعل اور تفاعل کے تفرق کی قیمت تلاش کرنا زیادہ آسان ہو گا۔ خط بندی تلاش کریں۔

سوال ۴.۴۱۱: $f(x) = x^2 + 2x, \quad x_0 = 0.1$

سوال ۴.۴۱۲: $f(x) = x^{-1}, \quad x_0 = 0.6$

سوال ۴.۴۱۳: $f(x) = 2x^2 + 4x - 3, \quad x_0 = -0.9$

سوال ۴.۴۱۴: $f(x) = 1 + x, \quad x_0 = 8.1$

سوال ۴.۴۱۵: $f(x) = \sqrt[3]{x}, \quad x_0 = 8.5$

سوال ۴.۴۱۶: $f(x) = \frac{x}{x+1}, \quad x_0 = 1.3$

تکونیاتی تفاعل کی خط بندی

سوال ۴.۴۱۷ تا سوال ۴.۴۲۰ میں $x = a$ پر تفاعل f کی خط بندی تلاش کریں۔ دو مختلف نقطوں پر دو مختلف حد بندی درکار ہیں۔ تفاعل اور تفاعل کی خط بندی کو ایک ساتھ ترسیم کریں۔

---

[۲۶] TNT, trinitrotoluene

سوال ۴.۴۱۷: $f(x) = \sin x, \quad x = 0,\ x = \pi$

سوال ۴.۴۱۸: $f(x) = \cos x, \quad x = 0,\ x = -\frac{\pi}{2}$

سوال ۴.۴۱۹: $f(x) = \sec x, \quad x = 0,\ x = -\frac{\pi}{3}$

سوال ۴.۴۲۰: $f(x) = \tan x, \quad x = 0,\ x = \frac{\pi}{4}$

تخمین $(1+x)^k \approx 1 + kx$

سوال ۴.۴۲۱: x کی قیمت صفر کے قریب لیتے ہوئے درج ذیل تفاعل کی خطی تخمین تلاش کریں۔ کلیہ $(1+x)^k \approx 1 + kx$ استعمال کریں۔

ا. $f(x) = (1+x)^2$

ب. $f(x) = \frac{1}{(1+x)^5}$

ج. $g(x) = \frac{2}{1-x}$

د. $g(x) = (1-x)^6$

ھ. $h(x) = 3(1+x)^{\frac{1}{3}}$

و. $h(x) = \frac{1}{\sqrt{1+x}}$

سوال ۴.۴۲۲: کیلکولیٹر سے تیز تخمین $(1+x)^k \approx 1 + kx$ استعمال کرتے ہوئے درج ذیل قیمتیں حاصل کریں۔

ا. $(1.0002)^{50}$

ب. $\sqrt[3]{1.009}$

سوال ۴.۴۲۳: $x = 0$ پر $f(x) = \sqrt{x+1} + \sin x$ کی خط بندی تلاش کریں۔ اس کا $\sqrt{1+x}$ اور $\sin x$ کی انفرادی خط بندی کے ساتھ کیا رشتہ ہے؟

سوال ۴.۴۲۴: ہم طاقتی قاعدہ سے جانتے ہیں کہ تمام ناطق اعداد k کے لئے مساوات

$$\frac{\mathrm{d}}{\mathrm{d}x}(1+x)^k = k(1+x)^{k-1}$$

مطمئن ہوتی ہے۔ ہم باب ۷ میں دیکھیں گے کہ یہ مساوات غیر ناطق اعداد کے لئے بھی مطمئن ہوتی ہے۔ یہی یہاں فرض کرتے ہوئے دکھائیں کہ $x = 0$ پر $f(x) = (1+k)^k$ کی خط بندی $L(x) = 1 + kx$ ہے۔

تفرقات

سوال ۴.۴۲۵ تا سوال ۴.۴۳۶ میں $\mathrm{d}y$ تلاش کریں۔

سوال ۴.۴۲۵: $y = x^3 - 3\sqrt{x}$

سوال ۴.۴۲۶: $y = x\sqrt{1-x^2}$

سوال ۴.۴۲۷: $y = \frac{2x}{1+x^2}$

سوال ۴.۴۲۸: $y = \frac{2\sqrt{x}}{3(1+\sqrt{x})}$

سوال ۴.۴۲۹: $2y^{\frac{3}{2}} + xy - x = 0$

سوال ۴.۴۳۰: $xy^2 - 4x^{\frac{3}{2}} - y = 0$

سوال ۴.۴۳۱: $y = \sin(5\sqrt{x})$

سوال ۴.۴۳۲: $y = \cos(x^2)$

سوال ۴.۴۳۳: $y = 4\tan(\frac{x^3}{3})$

سوال ۴.۴۳۴: $y = \sec(x^2 - 1)$

سوال ۴.۴۳۵: $y = 3\csc(1 - 2\sqrt{x})$

سوال ۴.۴۳۶: $y = 2\cot(\frac{1}{\sqrt{x}})$

خلل تخمینہ

سوال ۴.۴۳۷ تا سوال ۴.۴۴۲ میں x کی قیمت x_0 سے $x_0 + \mathrm{d}x$ ہونے کی وجہ سے تفاعل $f(x)$ کی قیمت تبدیل ہوتی ہے۔ درج ذیل تلاش کریں (شکل ۴.۹۴)۔

ا. تبدیلی $\Delta f = f(x_0 + \mathrm{d}x) - f(x_0)$

ب. اندازاً تبدیلی $\mathrm{d}f = f'(x_0)\,\mathrm{d}x$

ج. خلل تخمین $\left|\Delta f - \mathrm{d}f\right|$

سوال ۴.۴۳۷: $f(x) = x^2 + 2x,\ x_0 = 0,\ \mathrm{d}x = 0.1$

سوال ۴.۴۳۸: $f(x) = 2x^2 + 4x - 3,\ x_0 = -1,\ \mathrm{d}x = 0.1$

سوال ۴.۴۳۹: $f(x) = x^3 - x,\ x_0 = 1,\ \mathrm{d}x = 0.1$

سوال ۴.۴۴۰: $f(x) = x^4,\ x_0 = 1,\ \mathrm{d}x = 0.1$

سوال ۴.۴۴۱: $f(x) = x^{-1},\ x_0 = 0.5,\ \mathrm{d}x = 0.1$

سوال ۴.۴۴۲: $f(x) = x^3 - 2x + 3,\ x_0 = 2,\ \mathrm{d}x = 0.1$

تبدیلی کا تفرقی اندازہ

سوال ۴.۴۴۳ تا سوال ۴.۴۴۸ میں رقبہ یا حجم میں تبدیلی کی تفرقی صورت لکھیں۔

سوال ۴.۴۴۳: رداس r کے کرہ کے حجم $H = \frac{4}{3}\pi r^3$ میں تبدیلی جب رداس r_0 سے $r_0 + \mathrm{d}r$ ہوتا ہے۔

سوال ۴.۴۴۴: مکعب کے حجم $H = x^3$ میں تبدیلی جب اس کے ضلع کی لمبائی x_0 سے تبدیل ہو کر $x_0 + \mathrm{d}x$ ہوتی ہے۔

سوال ۴.۴۴۵: مکعب کی سطحی رقبہ $S = 6x^2$ میں تبدیلی جب اس کا ضلع x_0 سے $x_0 + \mathrm{d}x$ ہوتا ہے۔

سوال ۴.۴۴۶: قائمہ مخروط کا رقبہ پہلو $S = \pi r\sqrt{r^2+h^2}$ جب رداس r_0 سے $r_0 + \mathrm{d}r$ ہوتا ہے جبکہ اس کی اونچائی h تبدیل نہیں ہوتی ہے۔

سوال ۴.۴۴۷: قائمہ بیلن کا حجم $H = \pi r^2 h$ جب اس کا رداس r_0 سے تبدیل ہو کر $r_0 + \mathrm{d}r$ ہو جبکہ اس کی لمبائی h تبدیل نہ ہو۔

سوال ۴.۴۴۸: قائمہ بیلن کا رقبہ پہلو $S = 2\pi rh$ جب اس کی لمبائی h_0 سے $h_0 + \mathrm{d}h$ ہو جائے جبکہ اس کا رداس تبدیل نہ ہو۔

استعمال

سوال ۴.۴۴۹: ایک دائرے کا رداس $2\,\mathrm{m}$ سے بڑھ کر $2.02\,\mathrm{m}$ ہو جاتا ہے۔

ا. رقبے میں تبدیلی تلاش کریں۔

ب. رقبہ میں تبدیلی اور ابتدائی رقبہ کے فی صد کی صورت میں لکھیں۔

سوال ۴.۴۵۰: ایک درخت کا قطر $30\,\mathrm{cm}$ تھا۔ اگلے سال اس کا محیط $2\,\mathrm{cm}$ بڑھ گیا۔ درخت کا قطر کتنا بڑھا؟ درخت کا رقبہ عمودی تراش کتنا بڑھا؟

سوال ۴.۴۵۱: ایک مکعب کی اضلاع کی لمبائی $10\,\mathrm{cm}$ ہے جس میں $1\,\%$ خلل متوقع ہے۔ اس کے حجم میں کتنا فی صد خلل ہو گا؟

سوال ۴.۴۵۲: ایک چوکور کے رقبہ میں $2\,\%$ سے کم خلل قابل قبول ہے۔ اس کے ضلع کی پیائش میں کتنا خلل قابل قبول ہو گا؟

سوال ۴.۴۵۳: ایک کرہ کا قطر $100 \mp 1\,\mathrm{cm}$ ناپا جاتا ہے۔ اس کو استعمال کرتے ہوئے کرہ کا حجم حاصل کیا جاتا ہے۔ حجم میں کتنا خلل متوقع ہے؟

سوال ۴.۴۵۴: ایک کرہ کے حجم میں $3\,\%$ تک خلل قابل قبول ہے۔ اس کے قطر کی پیائش میں کتنا خلل قابل قبول ہو گا؟

سوال ۴.۴۵۵: ایک قائمہ بیلن کا رداس اور اس کی لمبائی ایک دوسرے کے برابر ہیں۔ یوں اس کا حجم πh^3 ہو گا۔ اس کے حجم میں $1\,\%$ خلل قابل قبول ہے۔ اس کی لمبائی کی پیائش میں قابل قبول خلل کتنا ہو گا؟

سوال ۴.۴۵۶: ایک قائمہ ٹینکی کا قد $10\,\mathrm{m}$ ہے۔ اس کی پیائش حجم اور اصل حجم میں $1\,\%$ کا فرق قابل قبول ہے۔ اس کے اندرونی قطر کی پیائش میں کتنا خلل قابل قبول ہو گا۔

سوال ۴.۴۵۷: ایک دائری قرص کے رداس میں کتنا فرق $\mathrm{d}r$ قابل قبول ہو گا تا کہ اس کی کمیت میں فرق اصل کمیت کے $\frac{1}{1000}$ سے کم ہو۔ قرص کی موٹائی میں خلل کو نظر انداز کریں۔

سوال ۴.۴۵۸: خون کے بہاو میں $50\,\%$ اضافہ حاصل کرنے کی خاطر مثال ۴.۵۰ میں r کو کتنا فی صد بڑھانا ہو گا؟

سوال ۴.۴۵۹: دکھائیں کہ مثال ۴.۵۱ میں t میں $5\,\%$ خلل کی وجہ سے s میں $10\,\%$ خلل پیدا ہو گا۔

سوال ۴.۴۶۰: دل پر خلائی مشق کے اثرات

اکائی وقت میں دل درج ذیل

$$W = PV + \frac{V\delta v^2}{2g}$$

کام کرتا ہے جہاں W اکائی وقت میں کام ہے، P دباو خون ہے، V دل سے اکائی وقت میں خارج خون کا حجم ہے، δ خون کی کثافت ہے، v دل سے اخراج کے وقت خون کی اوسط رفتار ہے، اور g ثقلی اسراع ہے۔

مستقل P ، V δ اور v کی صورت میں W صرف g کا تفاعل ہو گا۔ ایسی صورت میں یہ مساوات درج ذیل سادہ صورت اختیار کرتی ہے۔

$$W = a + \frac{b}{g} \qquad (a, b \text{ مستقل}) \tag{۶}$$

آپ چاند پر g میں تبدیلی $\mathrm{d}g$ اور زمین پر g میں اتنی ہی تبدیلی $\mathrm{d}g$ کا W پر اثر دیکھنا چاہتے ہیں۔ چاند پر $g = 1.6\,\mathrm{m\,s^{-2}}$ اور زمین پر $g = 9.8\,\mathrm{m\,s^{-2}}$ ہیں۔ مساوات ۶ سے چاند $\mathrm{d}W$ اور زمین $\mathrm{d}W$ کی نسبت حاصل کریں۔ نتیجہ کو دیکھ کر آپ کیا کہیں گے؟

سوال ۴.۴۶۱: مکعب کا حجم $H = x^3$ ہے۔ اس کے کنارے کی لمبائی میں Δx کے اضافہ سے حجم میں ΔH اضافہ پیدا ہوتا ہے۔ اضافی حجم ΔH کا خاکہ بنا کر اس کو درج ذیل کا مجموعہ ظاہر کریں۔

ا. تین تختے جن کے اطراف x ، x اور Δx ہیں۔

ب. تین ڈنڈے جن کے اطراف x ، Δx اور Δx ہیں۔

ج. ایک مکعب جس کے اطراف Δ ، Δx اور Δx ہیں۔

تفرقی کلیہ $\mathrm{d}H = 3x^2\,\mathrm{d}x$ حجم میں تبدیلی کو تین تختوں کے حجم (جزو-ا) سے حاصل کرتی ہے۔

سوال ۴.۴۶۲: گھڑیال کی لٹکن کی لمبائی اٹل رکھنے کی خاطر اس کا درجہ حرارت برقرار رکھا جاتا ہے۔ لٹکن کا دوری عرصہ T لٹکن کی لمبائی L اور کروی اسراع g پر منحصر ہے۔ یوں سطح زمین پر گھڑیال کو ایک جگہ سے دوسری جگہ منتقل کرنے سے g کی مقامی قیمت میں معمولی تبدیل کی وجہ سے T میں معمولی تبدیلی پیدا ہو گی۔ ΔT پر نظر رکھنے سے g میں تبدیلی $T = 2\pi\sqrt{\frac{L}{g}}$ سے حاصل کی جا سکتی ہے۔

ا. L کو اٹل اور g کو متغیر تصور کرتے ہوئے $\mathrm{d}T$ کی مساوات حاصل کر کے جزو-ب اور جزو-ج کے جوابات دیں۔

ب. g بڑھنے سے T بڑھتا ہے یا گھٹتا ہے؟ کیا گھڑیال کم وقت یا زیادہ وقت دے گا؟

ج. $100\,\mathrm{cm}$ لٹکن والے گھڑیال کو ایک مقام جہاں $g = 980\,\mathrm{cm\,s^{-2}}$ ہو سے دوسرے مقام پر منتقل کیا جاتا ہے جس کی وجہ سے دوری عرصہ $\Delta T = 0.001\,\mathrm{s}$ بڑھ جاتا ہے۔ $\mathrm{d}g$ حاصل کرتے ہوئے نئے مقام پر g کی اندازاً قیمت تلاش کریں۔

نظریہ اور مثالیں

سوال ۴.۴۶۳: درج ذیل دکھاتے ہوئے دکھائیں کہ مبدا پر $\sqrt{1+x}$ کی خط بندی $x \to 0$ کرنے سے بہتر ہو گی۔

$$\lim_{x\to 0} \frac{\sqrt{1+x}}{1+\frac{x}{2}} = 1$$

سوال ۴.۴۶۴: درج ذیل دکھاتے ہوئے دکھائیں کہ مبدا پر $x \to 0$ کرنے سے $\tan x$ کی خط بندی بہتر ہو گی۔

$$\lim_{x\to 0} \frac{\tan x}{x} = 1$$

سوال ۴.۴۶۵: فرض کریں تفاعل $f(x)$ کی ترسیم کا $x = a$ پر افقی مماس پایا جاتا ہے۔ کیا $x = a$ پر $f(x)$ کی خط بندی کے بارے میں کچھ کہنا ممکن ہے؟ اپنے جواب کی وجہ پیش کریں۔

سوال ۴.۴۶۶: ڈھلوان سے تفرق کا حصول۔ قابل تفرق منحنی کو بڑا کرنے سے مقامی نقطے پر منحنی سیدھا خط نما نظر آتا ہے۔اس حقیقت کو استعمال کرتے ہوئے کسی بھی نقطے پر منحنی کا تفرق ترسیم کا ڈھلوان ناپ کر حاصل کیا جا سکتا ہے۔

ا. یہ عمل دیکھنے کی خاطر $y = x^2$ کی ترسیم کو کمپیوٹر کے شیشے پر اتنا بڑا کریں کہ $x = 1$ پر ترسیم سیدھا خط نظر آتا ہو۔ $x = 1$ پر اس سیدھے خط کا ڈھلوان 2 ہو گا جو اس نقطے پر ترسیم کا تفرق ہو گا۔

ب. اب $y = e^x$ کی ترسیم کو باری باری $x = 0$ ، $x = 1$ اور $x = -1$ پر بڑا کر کے دیکھیں۔ہر نقطے پر ترسیم کے ڈھلوان کا موازنہ اس نقطے پر e^x کی قیمت کے ساتھ کریں۔آپ کیا دیکھتے ہیں؟

سوال ۴.۴۶۷: نقاط تصریف پر خط بندی۔ جیسا شکل ۴.۹۳ سے واضح ہے، نقاط تصریف پر خط بندی بالخصوص بہتر بیٹھتی ہے۔اس کی وضاحت سوال ۹.۵۴۹ میں کی جائے گی۔ترسیم سے $x = 0$ اور $x = \sqrt{3}$ پر $f(x) = \frac{4x}{x^2+1}$ کا ڈھلوان حاصل کریں۔

سوال ۴.۴۶۸: خط بندی بہترین خطی تخمین ہے۔(خط بندی استعمال کرنے کی وجہ۔) فرض کریں $x = a$ پر $y = f(x)$ قابل تفرق ہے اور $g(x) = m(x-a) + c$ ایک خطی تفاعل ہے جہاں m اور c مستقل ہیں۔اگر $x = a$ کے نزدیک خلل $E(x) = f(x) - g(x)$ بہت کم ہو تب ہم خط بندی $L(x) = f(a) + f'(a)(x-a)$ کے بجائے g کو بطور خطی تخمین استعمال کر سکتے ہیں۔دکھائیں کہ g پر درج ذیل شرائط لاگو کرنے سے $g(x) = f(a) + f'(a)(x-a)$ حاصل ہو گا۔

ا. $E(a) = 0$ $x = a$ پر تخمینی خلل صفر ہے

ب. $\lim_{x\to a} \frac{E(x)}{x-a} = 0$ $x - a$ کے لحاظ سے خلل قابل نظر انداز ہے۔

یوں خط بندی $L(x)$ وہ واحد خطی تخمین ہے جو $x = a$ پر صفر خلل دیتا ہے اور جس کا خلل $x - a$ کے لحاظ سے قابل نظر انداز ہے۔

سوال ۴.۴۶۹: کیلکولیٹر میں 2 کا ہندسہ لکھ کر بار بار جذر لیں۔آپ کیا ترتیب دیکھتے ہیں؟ بار بار $\sqrt[10]{\ }$ لینے سے کیا ترتیب دیکھنے کو ملتی ہے؟

سوال ۴.۴۷۰: گزشتہ سوال کو 2 کے بجائے 0.5 کے لئے دہرائیں۔اب کیا دیکھنے کو ملتا ہے؟ کیا 2 کی جگہ کوئی بھی مثبت عدد x استعمال کیا جا سکتا ہے؟ وجہ بیان کریں۔

کمپیوٹر کا استعمال

سوال ۴.۴۷۱ تا سوال ۴.۴۷۴ میں کمپیوٹر استعمال کرتے ہوئے وقفہ I پر تفاعل کے بجائے خط بندی استعمال کرتے ہوئے خلل کی مقدار کا اندازہ لگانا ہو گا۔درج ذیل اقدام کریں۔

ا. وقفہ I پر تفاعل f ترسیم کریں۔

ب. نقطہ $x = a$ پر تفاعل کی خط بندی L تلاش کریں۔

ج. f اور L کو ساتھ ساتھ ترسیم کریں۔

د. وقفہ I پر مطلق خلل $|f(x) - L(x)|$ ترسیم کر کے اس کی زیادہ سے زیادہ قیمت حاصل کریں۔

ھ. جزو-د کی ترسیم سے $\delta > 0$ کی زیادہ سے زیادہ قیمت تلاش کریں جو $|x - a| < \delta \implies |f(x) - L(x)| < \epsilon$ کو مطمئن کرتی ہو جہاں $\epsilon = 0.5, 0.1, 0.01$ لیں۔ترسیم کو دیکھ کر بتائیں آیا آپ کی تخمینی δ کی قیمتیں درست ہیں؟

سوال ۴.۴۷۱: $f(x) = x^3 + x^2 - 2x, \quad [-1, 2], \quad a = 1$

سوال ۴.۴۷۲: $f(x) = \frac{x-1}{4x^2+1}, \quad [-\frac{3}{4}, 1], \quad a = \frac{1}{2}$

سوال ۴.۴۷۳: $f(x) = x^{\frac{2}{3}}(x-2), \quad [-2, 3], \quad a = 2$

سوال ۴.۴۷۴: $f(x) = \sqrt{x} - \sin x, \quad [0, 2\pi], \quad a = 2$

۴.۸ ترکیب نیوٹن

ہم خطی اور دو درجی مساوات حل کرنے کے سادہ کلیات جانتے ہیں۔ تین درجی اور چار درجی مساوات حل کرنے کے نسبتاً مشکل کلیات بھی پائے جاتے ہیں۔ ناروے کے ریاضی دان نیلز ہنری ایبل (1829 – 1802) نے ثابت کیا کہ چار سے زیادہ درجے کی مساوات حل کرنے کا کوئی کلیہ نہیں پایا جاتا ہے۔

جب $f(x) = 0$ طرز کی مساوات کا بالکل درست حل حاصل کرنا ممکن نہ ہو تب ہم احصاء کے اعدادی طریقوں کو استعمال کرتے ہوئے حل کی تخمین حاصل کرتے ہیں۔ ترکیب نیوٹن ایسی ایک ترکیب ہے۔ اس ترکیب میں، جن نقطوں پر $f(x)$ صفر ہو ان نقطوں کے نزدیک $y = f(x)$ کو مماس سے ظاہر کیا جاتا ہے۔ یہاں بھی خط بندی کے ذریعہ مسائل حل کیے جاتے ہیں۔

نظریہ

ترکیب نیوٹن مساوات $f(x) = 0$ کے حل کی تخمینی قیمتوں کی ترتیب حاصل کرتا ہے جو اصل حل تک پہنچنے کی کوشش کرتا ہے۔ ہم اس ترتیب کا پہلا عدد x_0 منتخب کرتے ہیں۔ موزوں صورتوں میں یہ ترتیب قدم باقدم آگے بڑھتے ہوئے دیگر نقطے دیتا ہے۔ x_0 پر f کا مماس x محور کو ترتیب کے اگلے نقطہ x_1 پر قطع کرتا ہے (شکل ۴.۹۶)۔

ابتدائی نقطہ x_0 کو ترسیم دیکھ کر یا قیاساً منتخب کیا جا سکتا ہے۔ یہ ترکیب نقطہ $(x_0, f(x_0))$ پر تفاعل کے مماس کو تفاعل کا تخمین لیتے ہوئے مماس اور x محور کے مقطع کو x_1 کہتا ہے جو ترتیب کا دوسرا عدد ہو گا۔ x_1 عموماً x_0 سے بہتر حل ہو گا۔ اسی طرح نقطہ $(x_1, f(x_1))$ پر تفاعل کا مماس x محور کو x_2 پر قطع کرے گا جو ترتیب کا تیسرا عدد ہو گا۔ x_2 عموماً x_1 سے بہتر حل ہو گا۔ اسی طرح قدم باقدم چلتے ہوئے بہتر سے بہتر حل کی ترتیب حاصل کی جاتی ہے۔ یہ ترتیب اصل حل کے نزدیک سے نزدیک ہوتی چلی جاتی ہے۔ قابل قبول حل تک پہنچ کر ہم رک جاتے ہیں۔

ہم یک بعد دیگرے تخمینی قیمتوں کے حصول کا کلیہ اخذ کر سکتے ہیں۔ دیے گئے تخمین x_n پر تفاعل کے مماس کی مساوات درج ذیل ہو گی

$$y - f(x_n) = f'(x_n)(x - x_n) \tag{۱}$$

جو x محور کو اس نقطے پر قطع کرے گا جہاں $y = 0$ ہو۔ مساوات ۱ میں $y = 0$ پر کرتے ہوئے نقطہ قطع یعنی اگلا نقطہ x_{n+1} حاصل کرتے ہیں

$$0 - f(x_n) = f'(x_n)(x - x_n) \quad \Longrightarrow \quad x = x_{n+1} = x_n - \frac{f(x_n)}{f'(x_n)}$$

جہاں $f'(x_n) \neq 0$ فرض کیا گیا ہے (شکل ۴.۹۷)۔

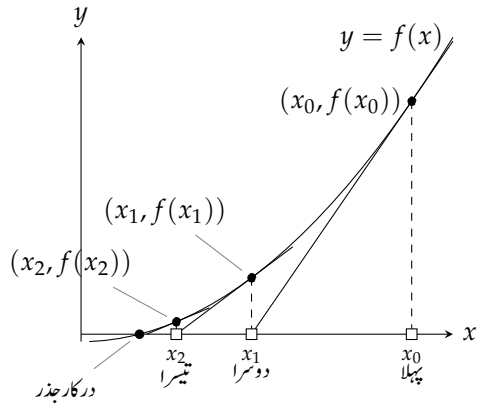

شکل ۴.۹۶: ترکیب نیوٹن ابتدائی قیاس x_0 سے شروع ہو کر (موزوں صورت میں) بتدریج بہتر جواب دیتی ہے۔

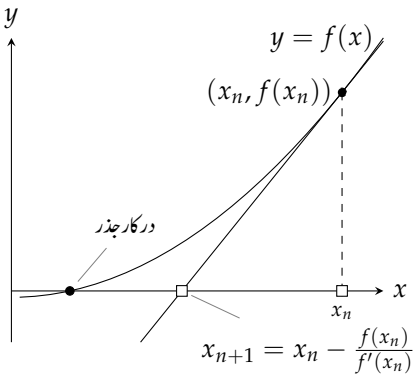

شکل ۴.۹۷: x_n سے منحنی تک جا کر مماس کے ساتھ ساتھ چلتے ہوئے x_{n+1} تک پہنچتے ہیں۔

۶۱۵۷ ترکیب نیوٹن کا لائحہ عمل

۶۱۵۸

۶۱۵۹ ا. مساوات $f(x) = 0$ کے جذر کی قیمت قیاساً حاصل کریں۔ مساوات $y = f(x)$ کی ترسیم مددگار ثابت ہو گی۔

۶۱۶۰ ب. درج ذیل کلیہ استعمال کرتے ہوئے پہلی تخمین سے دوسری تخمین، دوسری تخمین سے تیسری تخمین، وغیرہ، حاصل کریں

$$x_{n+1} = x_n - \frac{f(x_n)}{f'(x_n)}, \quad (f'(x_n) \neq 0) \tag{۲}$$

۶۱۶۱ جہاں نقطہ x_n پر تفاعل کا تفرق $f'(x_n)$ ہے۔

۶۱۶۲ ہم اپنی پہلی مثال میں $\sqrt{2}$ کا مثبت جذر مساوات $f(x) = x^2 - 2 = 0$ حل کرتے ہوئے حاصل کرتے ہیں۔

۶۱۶۳ مثال ۴.۵۲: مساوات $f(x) = x^2 - 2 = 0$ کا مثبت جذر تلاش کریں۔

۶۱۶۴ حل: $f(x) = x^2 - 2$ اور $f'(x) = 2x$ لیتے ہوئے مساوات ۲ درج ذیل روپ اختیار کرتی ہے۔

$$x_{n+1} = x_n - \frac{x_n^2 - 2}{2x_n}$$

۶۱۶۵ کم سے کم حساب و کتاب کی خاطر ہم اس مساوات کو درج ذیل روپ میں لکھتے ہیں۔

$$\begin{aligned} x_{n+1} &= x_n - \frac{x_n}{2} + \frac{1}{x_n} \\ &= \frac{x_n}{2} + \frac{1}{x_n} \end{aligned}$$

جدول ۴.۲: ابتدائی قیمت $x_0 = 1$ لیتے ہوئے $f(x) = x^3 - x - 1$ پر ترکیب نیوٹن کی اطلاق کے نتائج۔

n	x_n	$f(x_n)$	$f'(x_n)$	$x_{n+1} = x_n - \frac{f(x_n)}{f'(x_n)}$
0	1	-1	2	1.5
1	1.5	0.875	5.75	1.347 826 087
2	1.347 826 087	0.100 682 173	4.449 905 482	1.325 200 399
3	1.325 200 399	0.002 058 362	4.268 468 293	1.324 718 174
4	1.324 718 174	0.000 000 924	4.264 634 722	1.324 717 957
5	1.324 717 957	-1.0437×10^{-9}	4.264 632 997	1.324 717 957

۶۱۶۶ ہم $x_0 = 1$ منتخب کرتے ہوئے مساوات

$$x_{n+1} = \frac{x_n}{2} + \frac{1}{x_n}$$

۶۱۶۷ سے درج ذیل بتدریج بہتر تخمینی قیمتیں حاصل کرتے ہیں۔

	خلل	درست ہندسوں کی تعداد
$x_0 = 1$	-0.41421	1
$x_1 = 1.5$	0.08579	1
$x_2 = 1.41667$	0.00246	3
$x_3 = 1.41422$	0.00001	5

۶۱۶۸ □

۶۱۶۹ چونکہ ترکیب نیوٹن کی مرکوزیت بہت تیز ہے (جس پر جلد بات کی جائے گی) لہٰذا عموماً کیلکولیٹر جذر کا حصول ترکیب نیوٹن سے تلاش کرتے ہیں۔ اگر درج بالا
۶۱۷۰ جدول میں 5 کے بجائے 13 اعشاریہ درست ہندسے لیے جاتے تب اگلے قدم میں $\sqrt{2}$ کی قیمت 10 اعشاریہ درست حاصل ہوتی۔

۶۱۷۱ مثال ۴.۵۳: اس نقطے کا x محدد تلاش کریں جس پر منحنی $y = x^3 - x$ افقی خط $y = 1$ کو قطع کرتی ہے۔

۶۱۷۲ حل: منحنی اس خط کو اس نقطے پر قطع کرتی ہے جہاں $x^3 - x = 1$ یعنی $x^3 - x - 1 = 0$ ہو۔ کہاں $f(x) = x^3 - x - 1$
۶۱۷۳ صفر ہو گا؟ شکل ۴.۹۸ میں ترسیم کا ایک جذر $x = 1$ اور $x = 2$ کے بیچ دیکھا جا سکتا ہے۔ ہم $x_0 = 1$ منتخب کرتے ہوئے ترکیب نیوٹن کو f پر
۶۱۷۴ لاگو کرتے ہیں۔ نتائج جدول ۴.۲ اور شکل ۴.۹۹ میں دیے گئے ہیں۔ □

۶۱۷۵ جیسا شکل ۴.۱۰۰ میں دکھایا گیا ہے ہم $B_0(3, 23)$ کو ابتدائی نقطہ منتخب کر سکتے تھے جہاں $x_0 = 3$ ہو گا۔ اگرچہ B_0 افقی محور سے بہت دور ہے
۶۱۷۶ لیکن $x_0 = 3$ پر منحنی کا مماس افقی محور کو $x_1 = 2.11$ پر قطع کرتا ہے جو x_0 سے بہتر نقطہ ہے۔ اب $f(x) = x^3 - x -$

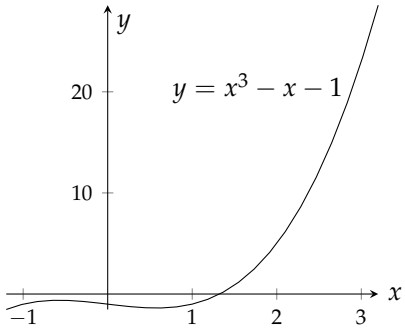

شکل ۴.۹۸: منحنی $f(x) = x^3 - x - 1$ محور x کو $x = 1$ اور $x = 2$ کے بیچ قطع کرتی ہے۔

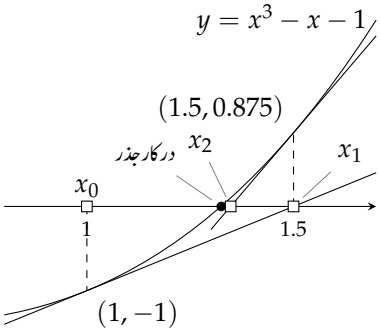

شکل ۴.۹۹: جدول ۴.۲ کی پہلی تین قیمتیں۔

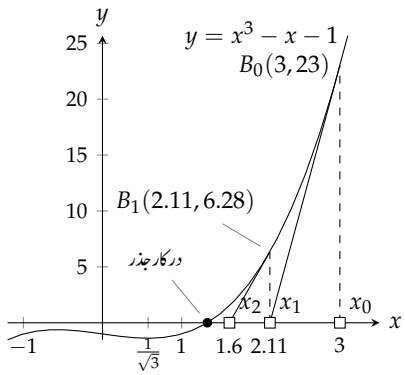

شکل ۴.۱۰۰: جذر حاصل کرنے کی خاطر $x = \frac{1}{\sqrt{3}}$ کے دائیں جانب کسی بھی نقطہ x_0 سے شروع کیا جا سکتا ہے۔

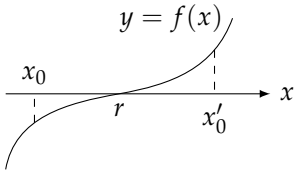

شکل ۴.۱۰۱: جذر r کے دونوں اطراف ابتدائی نقطہ لیتے ہوئے ترکیب نیوٹن r کو مرکوز ہو گا۔

$f'(x) = 3x^2 - 1$ لیتے ہوئے پہلے کی طرح مساوات ۲ کی بار بار استعمال سے چھٹے قدم پر 9 اعشاریہ جواب $x_6 = x_5 =$ 1.324 717 957 حاصل ہو گا۔

شکل ۱۰۰.۴ میں منحنی کا مقامی زیادہ سے زیادہ $x = -\frac{1}{\sqrt{3}}$ اور مقامی کم سے کم $x = \frac{1}{\sqrt{3}}$ پر پایا جاتا ہے۔ اگر ہم ان نقطوں کے بیچ ابتدائی نقطہ منتخب کرتے ہوئے ترکیب نیوٹن استعمال کریں تب ہمیں اچھے نتائج حاصل نہیں ہوں گے۔ البتہ ہم $x = \frac{1}{\sqrt{3}}$ کے دائیں جانب کسی بھی نقطہ سے شروع کر سکتے ہیں۔ اگرچہ ایسا کرنا بہتر نہیں ہو گا لیکن ہم B_0 سے بھی زیادہ دور، مثلاً $x_0 = 10$ کو، ابتدائی نقطہ منتخب کر سکتے ہیں۔ یوں زیادہ قدموں کے بعد اصل جواب حاصل ہو گا۔

ارتکاز عموماً یقینی ہو گا

ترکیب نیوٹن بہت تیزی سے مرکوز ہوتا ہے، لیکن چونکہ مرکوزیت لازمی نہیں ہوتی لہٰذا یہ دیکھنا لازمی ہو گا کہ آیا ترکیب مرتکز ہے یا نہیں۔ مرکوزیت یقینی بنانے کی خاطر ہم تفاعل ترسیم کر کے موزوں ابتدائی نقطہ x_0 منتخب کر سکتے ہیں۔ صفر کے قریب ہونے کو $|f(x_n)|$ کی قیمت سے دیکھا جا سکتا ہے جبکہ مرکوزیت کو $|x_n - x_{n+1}|$ سے پرکھا جا سکتا ہے۔

اس زمرے میں نظریہ بھی کچھ مدد مہیا کرتا ہے۔ اعلیٰ احصاء کا ایک مسئلہ کہتا ہے کہ جذر r پر وقفہ (جس میں r پایا جاتا ہو) میں تمام x کے لئے

$$\left|\frac{f(x)f''(x)}{[f'(x)]^2}\right| < 1 \tag{۳}$$

کی صورت میں اس وقفہ کے اندر کسی بھی ابتدائی نقطہ x_0 کے لئے ترکیب مرتکز ہو گی۔ حقیقتاً اس مسئلے کا اطلاق مشکل ثابت ہوتا ہے لہٰذا $f(x_n)$ اور $|x_n - x_{n+1}|$ کی قیمتوں سے مرکوزیت دیکھی جاتی ہے۔

عدم مساوات ۳ مرکوزیت کے لئے **کافی** نا کہ لازمی شرط ہے۔ ایسی مثالیں پائی جاتی ہیں جہاں جذر r پر ایسا کوئی وقفہ نہیں پایا جاتا ہے جس پر عدم مساوات ۳ مطمئن ہوتی ہو لیکن ترکیب نیوٹن مرتکز ہوتی ہے۔ ایسے تمام وقفے پر ترکیب نیوٹن مرتکز ہو گی جس میں x_0 اور درکار جذر کے بیچ وقفے پر منحنی $y = f(x)$ محور x کی طرف محدب (جھکا) ہو (شکل ۱۰۱.۴)۔

سازگار حالات میں ترکیب نیوٹن کی جذر r کو ارتکاز کی رفتار درج ذیل اعلیٰ احصاء کا کلیہ دیتا ہے

$$\underbrace{|x_{n+1} - r|}_{\text{خلل } e_{n+1}} \leq \frac{\text{زیادہ سے زیادہ } |f''|}{\text{کم سے کم } |f'|}|x_n - r|^2 = c \cdot \underbrace{|x_n - r|^2}_{\text{خلل } e_n} \tag{۴}$$

جہاں c مستقل ہے، اور زیادہ سے زیادہ قیمت اور کم سے کم قیمت r پر وقفہ میں پائی جاتی زیادہ سے زیادہ اور کم سے کم قیمتیں ہیں۔ درج بالا کلیہ کہتا ہے کہ قدم $n + 1$ میں خلل کی قیمت قدم n میں خلل کی قیمت کے مربع ضرب مستقل سے زیادہ نہیں ہو گی۔ اس بات کی گہرائی سمجھنے کی خاطر فرض کریں کہ $c \leq 1$ ہے اور $|x_n - r| < 10^{-3}$ ہے تب $|x_{n+1} - r| < 10^{-6}$ ہو گا۔ یوں ایک ہی قدم میں درستگی 3 اعشاریہ سے 6 اعشاریہ ہو گئی ہے۔ عدم مساوات ۳ اور عدم مساوات ۴ میں ہم فرض کرتے ہیں کہ f ''اچھا'' تفاعل ہے۔ عدم مساوات ۴ میں اس سے مراد ایسا تفاعل ہے جس کا r پر واحد ایک جذر پایا جاتا ہو لہٰذا $f'(r) \neq 0$ ہو گا۔ اگر r پر ایک سے زیادہ جذر پائے جاتے ہوں تب ارتکاز کی رفتار کم ہو سکتی ہے۔

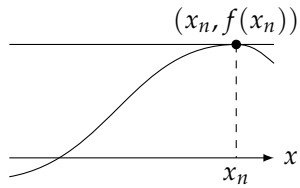

شکل ۴.۱۰۲: اگر $f'(x_n) = 0$ ہو تب نقطہ قطع نہیں پایا جاتا ہے لہٰذا ترکیب نیوٹن رک جاتی ہے اور x_{n+1} ناقابل معلوم ہو گا۔

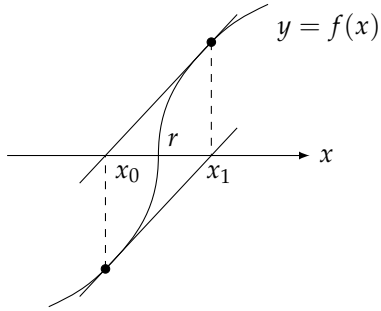

شکل ۴.۱۰۳: ترکیب نیوٹن کی عدم مرکوزیت۔

لیکن چیزیں غلطی کی طرف جا سکتی ہیں

اگر $f'(x_n) = 0$ ہو تب x_n پر منحنی کا مماس x محور کو قطع نہیں کرے گا لہٰذا x_{n+1} ناقابل معلوم ہو گا اور ترکیب نیوٹن رک جائے گا (شکل ۴.۱۰۲)۔ ایسی صورت میں نئے ابتدائی نقطہ سے شروع کریں۔ اب عین ممکن ہے کہ f اور f' دونوں کا مشترک جذر پایا جاتا ہو۔ یہ جاننے کے لئے کہ آیا ایسا ہے آپ $f'(x) = 0$ کا حل تلاش کر کے ان قیمتوں پر f کی قیمتیں دیکھ سکتے ہیں یا f اور f' کو ایک ساتھ ترسیم کر سکتے ہیں۔

ترکیب نیوٹن بعض اوقات غیر مرتکز ہوتا ہے۔ مثال کے طور پر

$$f(x) = \begin{cases} -\sqrt{r-x}, & x < r \\ \sqrt{x-r}, & x \geq r \end{cases}$$

جس کو شکل ۴.۱۰۳ میں دکھایا گیا ہے لیتے ہیں۔ اگر ہم $x_0 = r - h$ سے شروع کریں تب $x_1 = r + h$ ہو گا اور ہر قدم پر یہی دو قیمتیں دہرائی جاتی ہیں۔ ہم جتنے قدم بھی لیں، حاصل تخمین ابتدائی قیاس سے زیادہ بہتر نہیں ہو گا۔

اگر ترکیب نیوٹن مرتکز ہو تب ہم توقع کرتے ہیں کہ یہ جذر پر مرکوز ہو گا۔ حقیقت میں عموماً ایسا ہی ہو گا البتہ بعض اوقات یہ کسی ایسے نقطے پر مرکوز ہو گا جہاں کوئی جذر نہ پایا جائے گا۔ ہماری خوش قسمتی سے ایسے مواقع بہت کم پائے جاتے ہیں۔

بعض اوقات آپ ایک جذر کو تلاش کرنا چاہیں گے جبکہ ترکیب نیوٹن کسی دوسرے جذر پر مرکوز ہو گا۔ شکل ۴.۱۰۴ میں ایسے دو مثالیں دی گئی ہیں۔

ایسی صورت میں، کمپیوٹر پر تفاعل کی ترسیم یا احصاء کے تراکیب استعمال کرتے ہوئے درکار جذر کے قریب ابتدائی نقطہ تلاش کرتے ہوئے حل کریں۔ امید کی جاتی ہے کہ اس سے مسئلہ حل ہو جائے گا۔

ترکیب نیوٹن میں ابتری

ترکیب نیوٹن سے جذر کا حصول ابتری کا شکار ہو سکتا ہے یعنی کئی مساوات کے لئے حاصل جذر کی قیمت ابتدائی نقطے کی مقام کو بہت حساس ہو گی۔

مساوات $4x^4 - 4x^2 = 0$ ایسی ایک مثال ہے جس کو شکل ۴.۱۰۵ میں دکھایا گیا ہے۔ وقفہ $(-\infty, -\frac{\sqrt{2}}{2})$ ، $(-\frac{\sqrt{21}}{7}, \frac{\sqrt{21}}{7})$ اور $(\frac{\sqrt{2}}{2}, \infty)$ میں ابتدائی نقطہ منتخب کرنے سے بالترتیب جذر A ، B اور C ملتا ہے۔ نقطے $x = \mp\frac{\sqrt{21}}{7}$ ایک دوسرے کو دہراتے ہیں۔

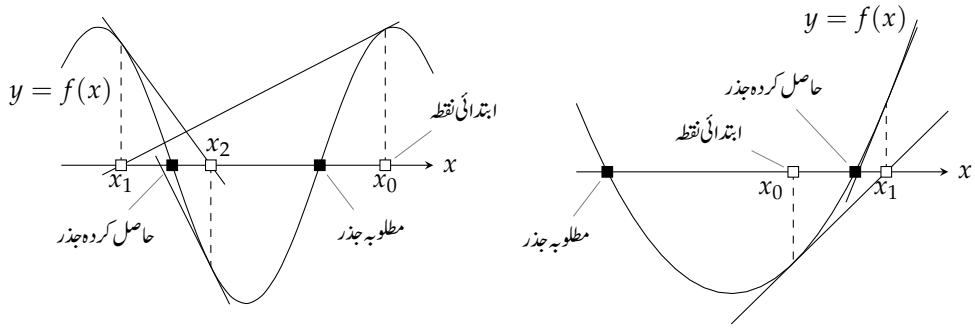

شکل ۴.۱۰۴: ترکیب نیوٹن کسی دوسرے جذر پر مرکوز ہو سکتا ہے۔

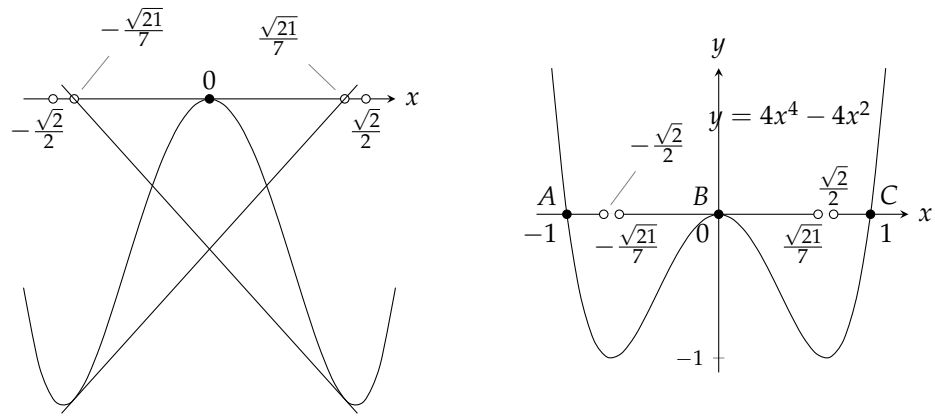

شکل ۴.۱۰۵: ترکیب نیوٹن ابتری کا شکار ہے۔

نقطہ $\frac{\sqrt{21}}{7}$ اور $\frac{\sqrt{2}}{2}$ کے بیچ نقطوں کے ایسے لامتناہی کھلے وقفے پائے جاتے ہیں جو جذر A کو کھینچے جاتے ہیں۔ان وقفوں کے بیچ، نقطوں کے ایسے کھلے وقفے پائے جاتے ہیں جو جذر C کو کھینچے جاتے ہیں۔ان کھلے وقفوں کے آخری سر (جن کی تعداد لامتناہی ہے) کوئی جذر نہیں دیتے ہیں بلکہ یہ ایک دوسرے کو دہراتے ہیں۔یہی عمل وقفہ $\left(-\frac{\sqrt{2}}{2}, -\frac{\sqrt{21}}{7}\right)$ میں بھی پایا جاتا ہے۔

$\frac{\sqrt{21}}{7}$ اور $\frac{\sqrt{2}}{2}$ کے بیچ (یا $-\frac{\sqrt{21}}{7}$ اور $-\frac{\sqrt{2}}{2}$) کے بیچ ابتری کی بہترین مثال دیکھنے کو ملتی ہے۔نقطہ $\frac{\sqrt{21}}{7}$ تک دائیں سے پہنچتے ہوئے ان نقطوں کے بیچ فرق کرنا مشکل ہو جاتا ہے جو جذر A اور جذر C دیتے ہیں۔نقطہ $\frac{\sqrt{21}}{7}$ کے ایک ہی طرف رہتے ہوئے انتہائی قریب قریب ایسے نقطے پائے جاتے ہیں جن سے حاصل جذر ایک دوسرے سے بہت دور پائے جاتے ہیں۔

سوالات

حصول جذر

سوال ۴.۴۷۵: $x_0 = -1$ لیتے ہوئے ترکیب نیوٹن سے مساوات $x^2 + x - 1 = 0$ کا حل حاصل کریں۔ اب $x_0 = 1$ لیتے ہوئے دوسرا حل تلاش کریں۔ دونوں صورتوں میں x_2 تلاش کریں۔

سوال ۴.۴۷۶: $x_0 = 0$ لیتے ہوئے $x^3 + 3x + 1 = 0$ کا ایک حقیقی حل ترکیب نیوٹن سے تلاش کریں۔ اس کے بعد x_2 تلاش کریں۔

سوال ۴.۴۷۷: $x_0 = -1$ لیتے ہوئے ترکیب نیوٹن سے تفاعل $f(x) = x^4 + x - 3$ کا بایاں صفر اور $x_0 = 1$ لیتے ہوئے اس کا دایاں صفر تلاش کریں۔ دونوں صورتوں میں x_2 تلاش کریں۔

سوال ۴.۴۷۸: تفاعل $f(x) = 2x - x^2 + 1$ کے دونوں جذر ترکیب نیوٹن سے تلاش کریں۔ $x_0 = 0$ سے شروع کرتے ہوئے بائیں ہاتھ صفر اور $x_0 = 2$ سے شروع کرتے ہوئے دائیں ہاتھ صفر حاصل کریں۔ دونوں صورتوں میں x_2 تلاش کریں۔

سوال ۴.۴۷۹: مساوات $x^4 - 2 = 0$ کو حل ترکیب نیوٹن سے کرتے ہوئے 2 کا مثبت چوتھا جذر تلاش کریں۔ ابتدائی نقطہ $x_0 = 1$ لیں۔ x_2 کیا ہو گا؟

سوال ۴.۴۸۰: مساوات $x^4 - 2 = 0$ کو حل کرتے ہوئے 2 کا منفی چوتھا جذر ترکیب نیوٹن سے تلاش کریں۔ ابتدائی نقطہ $x_0 = -1$ لیں۔ x_2 کیا ہو گا؟

سوال ۴.۴۸۱: x کی کس قیمت پر $\cos x = 2x$ ہو گا؟ کیلکولیٹر استعمال کریں۔

سوال ۴.۴۸۲: x کی کس قیمت پر $\cos x = -x$ ہو گا؟ کیلکولیٹر استعمال کریں۔

سوال ۴.۴۸۳: متوسط قیمت مسئلہ (صفحہ ۱۴۶) استعمال کرتے ہوئے دکھائیں کہ $f(x) = x^3 + 2x - 4$ کا ایک جذر $x = 1$ اور $x = 2$ کے بیچ پایا جاتا ہے۔ اس جذر کو ترکیب نیوٹن کی مدد سے 5 اعشاریہ درستگی تک تلاش کریں۔

سوال ۴.۴۸۴: π کی قیمت کا تخمینہ مساوات $\tan x = 0$ کے حل سے حاصل کیا جا سکتا ہے۔ نقطہ $x_0 = 3$ سے شروع کرتے ہوئے ترکیب نیوٹن سے، کیلکولیٹر کے استعمال کے ساتھ، π کی قیمت جتنے اعشاریہ درستگی تک ممکن ہو حاصل کریں۔

نظریہ، مثالیں اور استعمال

سوال ۴.۴۸۵: فرض کریں آپ کا منتخب کردہ ابتدائی نقطہ مساوات $f(x) = 0$ کا حل ہوتا ہے۔ مزید فرض کریں کہ $f'(x_0)$ معین اور غیر صفر ہے۔ ایسی صورت میں x_1 اور دیگر تخمین کیا حاصل ہوں گے؟

سوال ۴.۴۸۶: آپ $\frac{\pi}{2}$ کی قیمت 5 اعشاریہ درست ترکیب نیوٹن سے $\cos x = 0$ حل کرتے ہوئے حاصل کرنا چاہتے ہیں۔ کیا ابتدائی نقطہ کی کوئی اہمیت ہو گی؟ اپنے جواب کی وجہ پیش کریں۔

سوال ۴.۴۸۷: ارتعاش۔ اگر $h > 0$ ہو تب ترکیب نیوٹن استعمال کرتے ہوئے دکھائیں کہ $x_0 = h$ منتخب کرتے ہوئے درج ذیل تفاعل کے لئے $x_1 = -h$ حاصل ہو گا

$$f(x) = \begin{cases} \sqrt{x}, & x \geq 0 \\ \sqrt{-x}, & x < 0 \end{cases}$$

اور $x_0 = -h$ منتخب کرنے سے $x_1 = h$ حاصل ہو گا۔ اس مسئلے کی ترسیم کھینچ کر اس عمل کی وضاحت کریں۔

سوال ۴.۴۸۸: بگڑتی ہوئی تخمین تفاعل $f(x) = x^{\frac{1}{3}}$ کو ترکیب نیوٹن سے حل کریں۔ ابتدائی نقطہ $x_0 = 1$ لیتے ہوئے x_1 ، x_2 ، x_3 اور x_4 تلاش کریں۔ $|x_n|$ کا کلیہ کیا ہوگا؟ $n \to \infty$ کرنے سے $|x_n|$ کو کیا ہوگا؟ تصویر کشی کر کے وضاحت کریں۔

سوال ۴.۴۸۹: سمجھائیں کہ درج ذیل چار فقرے ایک ہی معلومات پوچھ رہی ہیں۔

ا. تفاعل $f(x) = x^3 - 3x - 1$ کا جذر تلاش کریں۔

ب. منحنی $y = x^3$ اور خط $y = 3x + 1$ کی نقطہ تقاطع کا x محدد تلاش کریں۔

ج. منحنی $y = x^3 - 3x$ جہاں $y = 1$ کو قطع کرتی ہے اس نقطے کا x محدد تلاش کریں۔

د. x کی وہ قیمت تلاش کریں جس پر $g(x) = \frac{1}{4}x^4 - \frac{3}{2}x^2 - x + 5$ کا تفرق صفر ہوگا۔

سوال ۴.۴۹۰: ایک سیارے کا مقام تلاش کرنے کی خاطر ہمیں $x = 1 + 0.5 \sin x$ حل کرنا ہوگا۔ تفاعل $f(x) = x - 1 - 0.5 \sin x$ کو ترسیم کرتے ہوئے ایک جذر $x = 1.5$ کے قریب حاصل ہوتا ہے۔ اس نقطہ سے شروع کرتے ہوئے بہتر حل x_1 تلاش کریں۔ (5 اعشاریہ درست حل $x = 1.49870$ ہے۔)

سوال ۴.۴۹۱:

ا. ترکیب نیوٹن استعمال کرتے ہوئے $f(x) = x^3 - 3x - 1$ کے دو منفی جذر 5 اعشاریہ درست تلاش کریں۔

ب. وقفہ $-2 \le x \le -2.5$ پر $f(x) = x^3 - 3x - 1$ کو کمپیوٹر پر ترسیم کریں۔ ترسیم کو جذر کے قریب بڑا کرتے ہوئے جذر کو 5 اعشاریہ درستگی تک تلاش کریں۔

ج. تفاعل $g(x) = 0.25x^4 - 1.5x^2 - x + 5$ کو ترسیم کریں۔ ترسیم کو بڑا کرتے ہوئے x کی 5 اعشاریہ درست وہ قیمت تلاش کریں جہاں ترسیم کا مماس افقی ہو۔

سوال ۴.۴۹۲: ترسیم $y = \tan x$ خط $y = 2x$ کو $x = 0$ اور $x = \frac{\pi}{2}$ کے بیچ قطع کرتی ہے۔ ترکیب نیوٹن سے نقطہ تقاطع تلاش کریں۔

سوال ۴.۴۹۳: ترکیب نیوٹن استعمال کرتے ہوئے $x^4 - 2x^3 - x^2 - 2x + 2 = 0$ کے دو حقیقی جذر تلاش کریں۔

سوال ۴.۴۹۴: $\sin 3x = 0.99 - x^2$ کے کتنے حل ہوں گے؟ ترکیب نیوٹن سے ان حل کو تلاش کریں۔

سوال ۴.۴۹۵: کیا $\cos 3x$ کبھی x کو قطع کرتا ہے؟ اپنے جواب جی وجہ پیش کریں۔ ترکیب نیوٹن استعمال کرتے ہوئے نقطہ تقاطع تلاش کریں۔

سوال ۴.۴۹۶: تفاعل $f(x) = 2x^4 - 4x^2 + 1$ کے چار حقیقی صفر تلاش کریں۔

سوال ۴.۴۹۷: تجزی $8x^4 - 14x^3 - 9x^2 + 11x - 1 = 8(x - r_1)(x - r_2)(x - r_3)(x - r_4)$ میں

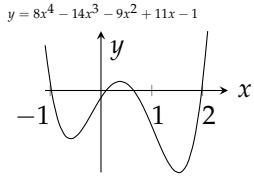

r_1 ، r_2 ، r_3 اور r_4 تلاش کریں۔

۶۲۷۴

۶۲۷۵

باب ۵

تکمل

اس باب میں دو اعمال اور ان کا ایک دوسرے کے ساتھ تعلق پر غور کیا جائے گا۔ پہلے عمل میں ہم تفرق سے تفاعل حاصل کرتے ہیں۔ دوسرے عمل میں ہم حجم، رقبہ، وغیرہ کے بالکل درست کلیات، بذریعہ یک بعد دیگرے تخمین، دریافت کرتے ہیں۔ ان دونوں اعمال کو تکمل کہتے ہیں۔

تکمل اور تفرق کا گہرا تعلق ہے۔ یہ تعلق تمام ریاضیات میں اہم ترین حقائق میں سے ایک ہے۔ لیبنٹز اور نیوٹن نے علیحدہ علیحدہ اس تعلق کو دریافت کیا۔

۵.۱ غیر قطعی تکملات

کسی جسم کے موجودہ مقام اور سمتی رفتار سے اس کے مستقبل کے مقام کی پیش گوئی کرنا احصاء کی اولین کامیابیوں میں سے ایک تھی۔ آج کل تفاعل کی کسی ایک معلوم قیمت اور شرح تبدیلی سے تفاعل کے دیگر قیمتوں کا حصول معمول کی بات ہے۔ ہم احصاء کی مدد سے کشش زمین سے نکلنے کے لئے درکار رفتار یا تابکار مادہ کی موجودہ عملیت اور شرح تابکاری تحلیل سے اس کی قابل استعمال زندگی کا حساب لگا سکتے ہیں۔

تفاعل کی معلوم قیمتوں میں سے کسی ایک قیمت اور تفاعل کے تفرق $f(x)$ سے تفاعل کا حصول دو قدموں میں ممکن ہے۔ پہلے قدم میں وہ تمام تفاعل حاصل کیے جاتے ہیں جن کا تفرق f ہے۔ ان تفاعل کو f کے الٹ تفرقات کہتے ہیں اور جس کلیہ سے انہیں اخذ کیا جاتا ہے اس کو f کا غیر قطعی تکمل کہتے ہیں۔ دوسرے قدم میں تفاعل کی معلوم قیمت استعمال کرتے ہوئے الٹ تفرقات میں سے مخصوص تفاعل منتخب کیا جاتا ہے۔ اس حصہ میں پہلے قدم پر غور کیا جائے گا جبکہ دوسرے قدم پر اگلے حصہ میں غور کیا جائے گا۔

اگرچہ تفاعل کے تمام الٹ تفرقات حاصل کرنے والا کلیہ دریافت کرنا ناممکن نظر آتا ہے، حقیقت میں ایسا نہیں ہے۔ مسئلہ اوسط قیمت (مسئلہ ۴.۴) کے پہلا اور دوسرا ضمنی نتائج کی مدد سے تفاعل کے ایک الٹ تفرق سے اس کے تمام الٹ تفرقات حاصل کیے جا سکتے ہیں۔

الٹ تفرق کا حصول۔ غیر قطعی تکمل

تعریف: تفاعل $f(x)$ کا الٹ تفرق تب $F(x)$ ہو گا جب f کے دائرہ کار میں تمام x کے لئے درج ذیل مطمئن ہوتا ہو۔

$$F'(x) = f(x)$$

f کے تمام الٹ تفرقات کا سلسلہ x کے لحاظ سے f کا **غیر قطعی تکمل**[1] ہو گا جس کو درج ذیل سے ظاہر کیا جاتا ہے۔

$$\int f(x)\,\mathrm{d}x$$

علامت $\int$ کو **علامت تکمل** کہتے ہیں۔ تفاعل f کو **متکمل**[2] اور x کو **تکمل کا متغیر**[3] کہتے ہیں۔

□

مسئلہ اوسط قیمت (مسئلہ ۴.۴) کے دوسرے ضمنی نتیجہ کے تحت تفاعل f کے حاصل کردہ الٹ تفرق F اور اس کے کسی دوسرے الٹ تفرق میں صرف مستقل کا فرق پایا جائے گا۔ اس حقیقت کو تکملی علامتیت میں ظاہر کرتے ہیں:

$$\int f(x)\,\mathrm{d}x = F(x) + \mathrm{C} \tag{۱}$$

مستقل C کو **تکمل کا مستقل**[4] یا **اختیاری مستقل**[5] کہتے ہیں۔ ہم مساوات ۱ کو یوں پڑھتے ہیں: "x کے لحاظ سے تفاعل f کا غیر قطعی تکمل $F(x) + \mathrm{C}$ ہے۔" $F(x) + \mathrm{C}$ کے حصول کو f کے **تکمل** کا حصول کہتے ہیں۔

مثال ۵.۱: $\int 2x\,\mathrm{d}x$ تلاش کریں۔

حل:

$$\int 2x\,\mathrm{d}x = x^2 + \mathrm{C}$$

$2x$ کا الٹ تفرق x^2 ہے اور C تکمل کا مستقل ہے۔ کلیہ $x^2 + \mathrm{C}$ تفاعل $2x$ کے تمام تفرقات دیتا ہے۔ یوں $x^2 + 1$ ، $x^2 - \pi$ اور $x^2 + \sqrt{2}$ تفاعل $2x$ کے ممکنہ الٹ تفرق ہیں۔ آپ ان کا تفرق لے کر تصدیق کر سکتے ہیں۔ □

ہم عموماً تفرق کے کلیات سے الٹ تفرقات کے کلیات اخذ کرتے ہیں۔ جدول ۵.۱ میں غیر قطعی تکملات کے سامنے موزوں تفرقی کلیات کو الٹ لکھا گیا ہے۔

مثال ۵.۲:

---

[1] indefiniteintegral
[2] integrand
[3] variableofintegration
[4] constantofintegration
[5] arbitraryconstant

جدول ۱.۵: تکمل کے کلیات

تفرقی کلیات کو الٹ لکھا گیا ہے	غیر قطعی تکمل	
$\frac{\mathrm{d}}{\mathrm{d}x}\left(\frac{x^{n+1}}{n+1}\right) = x^n$	$\int x^n \,\mathrm{d}x = \frac{x^{n+1}}{n+1} + C, \quad n \neq -1,\ n$ ناطق	1.
$\frac{\mathrm{d}}{\mathrm{d}x}(x) = 1$	$\int \mathrm{d}x = \int 1 \,\mathrm{d}x = x + C$ (خصوصی صورت)	
$\frac{\mathrm{d}}{\mathrm{d}x}(-\frac{\cos kx}{k}) = \sin kx$	$\int \sin kx \,\mathrm{d}x = -\frac{\cos kx}{k} + C$	2.
$\frac{\mathrm{d}}{\mathrm{d}x}(\frac{\sin kx}{k}) = \cos kx$	$\int \cos kx \,\mathrm{d}x = \frac{\sin kx}{k} + C$	3.
$\frac{\mathrm{d}}{\mathrm{d}x} \tan x = \sec^2 x$	$\int \sec^2 x \,\mathrm{d}x = \tan x + C$	4.
$\frac{\mathrm{d}}{\mathrm{d}x}(-\cot x) = \csc^2 x$	$\int \csc^2 x \,\mathrm{d}x = -\cot x + C$	5.
$\frac{\mathrm{d}}{\mathrm{d}x} \sec x = \sec x \tan x$	$\int \sec x \tan x \,\mathrm{d}x = \sec x + C$	6.
$\frac{\mathrm{d}}{\mathrm{d}x}(-\csc x) = \csc x \cot x$	$\int \csc x \cot x \,\mathrm{d}x = -\csc x + C$	7.

۳۰۶ ا. جدول ۵.۱ کے کلیہ 1 میں $n = 5$ لیتے ہوئے:

$$\int x^5 \, \mathrm{d}x = \frac{x^6}{6} + C$$

۳۰۷ ب. کلیہ 1 میں $n = -\frac{1}{2}$ لیتے ہوئے:

$$\int \frac{1}{\sqrt{x}} \, \mathrm{d}x = \int x^{-\frac{1}{2}} \, \mathrm{d}x = 2x^{\frac{1}{2}} + C$$

۳۰۸ ج. کلیہ 2 میں $k = 2$ لیتے ہوئے:

$$\int \sin 2x \, \mathrm{d}x = -\frac{\cos 2x}{2} + C$$

۳۰۹ د. کلیہ 3 میں $k = \frac{1}{2}$ لیتے ہوئے:

$$\int \cos \frac{x}{2} \, \mathrm{d}x = \int \frac{1}{2} x \, \mathrm{d}x = \frac{\sin \frac{1}{2} x}{\frac{1}{2}} + C = 2 \sin \frac{x}{2} + C$$

۳۱۰ □

۳۱۱ بعض اوقات کلیہ تکمل کا حصول مشکل ثابت ہوتا ہے البتہ اخذ کردہ کلیہ کو پرکھنا مشکل نہیں ہے۔ کلیہ کا تفرق متکمل ہو گا۔

۳۱۲ مثال ۵.۳: درج ذیل کی بنا

$$\frac{\mathrm{d}}{\mathrm{d}x}(x \sin x + \cos x + C) = x \cos x + \sin x - \sin x + 0 = x \cos x$$

۳۱۳ درج ذیل ہو گا۔

$$\int x \cos x \, \mathrm{d}x = x \sin x + \cos x + C$$

۳۱۴ □

۳۱۵ اس مثال میں تکمل کا کلیہ اخذ کرنا جلد سکھایا جائے گا۔

جدول ۵.۲: غیر قطعی تکمل کے قواعد

1. مستقل مضرب قاعدہ: (k کی قیمت x کے ساتھ تبدیل نہیں ہوتی)	$\int kf(x)\,\mathrm{d}x = k\int f(x)\,\mathrm{d}x$
2. منفی کے لئے قاعدہ: (قاعدہ 1 میں $k=-1$ لیا گیا ہے۔)	$\int -f(x)\,\mathrm{d}x = -\int f(x)\,\mathrm{d}x$
3. مجموعہ اور فرق کا قاعدہ:	$\int [f(x)\mp g(x)]\,\mathrm{d}x = \int f(x)\,\mathrm{d}x + \int g(x)\,\mathrm{d}x$

الٹ تفرقات کے قواعد

ہم الٹ تفرقات کے بارے میں درج ذیل جانتے ہیں۔

ا. ایک تفاعل اس صورت مستقل مضرب kf کا الٹ تفرق ہو گا جب یہ f کے الٹ تفرق ضرب k کے برابر ہو۔

ب. بالخصوص ایک تفاعل اس صورت $-f$ کا الٹ تفرق ہو گا جب یہ f کے الٹ تفرق کا نفی ہو۔

ج. ایک تفاعل اس صورت مجموعہ یا فرق $f\mp g$ کا الٹ تفرق ہو گا جب یہ f کے الٹ تفرق اور g کے الٹ تفرق کا مجموعہ یا فرق ہو۔

ان حقائق کو تکملی علامتیت میں لکھنے سے غیر قطعی تکمل کے معیاری ریاضیاتی قواعد حاصل ہوتے ہیں (جدول ۵.۲)۔

مثال ۵.۴: تکمل کا مستقل

$$\begin{aligned}
\int 5\sec x\tan x\,\mathrm{d}x &= 5\int \sec x\tan x\,\mathrm{d}x && \text{جدول ۵.۲، قاعدہ 1}\\
&= 5(\sec x + C) && \text{جدول ۵.۱، کلیہ 6}\\
&= 5\sec x + 5C && \text{غیر قطعی الٹ تفرق کی پہلی صورت}\\
&= 5\sec x + C' && \text{مستقل } 5C \text{ کو مستقل } C' \text{ لکھا گیا ہے}\\
&= 5\sec x + C && C' \text{ ایک مستقل ہے جس کو ہم اب } C \text{ سے ظاہر کرتے ہیں}
\end{aligned}$$

□

اس مثال کے آخری قدم پر مستقل C' کو بغیر علامت (') لکھا گیا ہے۔

مثال ۵.۴ میں حاصل چاروں جوابات صحیح ہیں البتہ آخری لکیر پر غیر قطعی الٹ تفرق کی سادہ ترین اور پسندیدہ صورت لکھی گئی ہے لہذا عموماً درج ذیل لکھا جاتا

۳۲۷ ہے۔

$$\int 5\sec x\tan x\,\mathrm{d}x = 5\sec x + C$$

۳۲۸ جیسا مجموعہ اور فرق کے تفرق کا قاعدہ ہمیں اجزاء کو علیحدہ علیحدہ تفرق کی اجازت دیتا ہے، اسی طرح مجموعہ اور فرق کا تکملی قاعدہ ہمیں اجزاء کا علیحدہ علیحدہ تکمل
۳۲۹ لینے کی اجازت دیتا ہے۔ ایسا کرتے ہوئے ہم انفرادی مستقل تکمل کا مجموعہ یا فرق کو ایک مستقل سے ظاہر کرتے ہیں۔

۳۳۰ **مثال ۵.۵:** جزو در جزو تکمل۔
۳۳۱ درج ذیل حاصل کریں۔

$$\int (x^2 - 2x + 5)\,\mathrm{d}x$$

۳۳۲ اگر ہم دیکھ کر بتلا سکیں کہ $x^2 - 2x + 5$ کا الٹ تفرق $\frac{x^3}{3} - x^2 + 5x$ ہے تب ہم درج ذیل لکھ سکتے ہیں۔

$$\int (x^2 - 2x + 5)\,\mathrm{d}x = \underbrace{\frac{x^3}{3} - x^2 + 5x}_{\text{الٹ تفرق}} + \underbrace{C}_{\text{اختیاری مستقل}}$$

۳۳۳ اگر ہم الٹ تفرق پہچان نہ سکیں تب ہم مجموعہ اور فرق کے قاعدہ سے جزو در جزو تکمل لے کر درج ذیل لکھ سکتے ہیں۔

$$\begin{aligned}\int (x^2 - 2x + 5)\,\mathrm{d}x &= \int x^2\,\mathrm{d}x - \int 2x\,\mathrm{d}x + \int 5\,\mathrm{d}x\\ &= \frac{x^3}{3} + C_1 - x^2 + C_2 + 5x + C_3\end{aligned}$$

۳۳۴ اس کلیہ میں تین مستقلات کا مجموعہ از خود ایک مستقل ہو گا جس کو C لکھا جا سکتا ہے یعنی $C_1 + C_2 + C_3 = C$ جس سے کلیہ کی درج ذیل سادہ
۳۳۵ صورت حاصل ہوتی ہے۔

$$\frac{x^3}{3} - x^2 + 5x + C$$

۳۳۶ جزو در جزو تکمل لیتے ہوئے ہم علیحدہ علیحدہ مستقل لکھ کر آخر میں انہیں جمع کر کے C لکھنے کے بجائے پہلے قدم پر ہی صرف ایک مستقل C لکھتے ہیں یعنی:

$$\begin{aligned}\int (x^2 - 2x + 5)\,\mathrm{d}x &= \int x^2\,\mathrm{d}x - \int 2x\,\mathrm{d}x + \int 5\,\mathrm{d}x\\ &= \frac{x^3}{3} - x^2 + 5x + C\end{aligned}$$

۳۳۷ □

$\sin^2 x$ اور $\cos^2 x$ کے تکملات

بعض اوقات جن تکملات کا حصول ہم نہیں جانتے کو تکونیاتی تماثل کی مدد سے ان تکملات میں تبدیل کرنا ممکن ہوتا ہے جن کا حصول ہم جانتے ہیں۔ $\sin^2 x$ اور $\cos^2 x$ کے تکمل عموماً استعمال میں در پیش آتے ہیں۔ آئیں تماثل کی مدد سے انہیں حل کرتے ہیں۔

مثال ۵.۶:

ا.

$$\int \sin^2 x \, \mathrm{d}x = \int \frac{1-\cos 2x}{2} \, \mathrm{d}x \qquad \sin^2 x = \frac{1-\cos 2x}{2}$$
$$= \frac{1}{2}\int (1-\cos 2x) \, \mathrm{d}x$$
$$= \frac{1}{2}\int \mathrm{d}x - \frac{1}{2}\int \cos 2x \, \mathrm{d}x$$
$$= \frac{1}{2}x - \frac{1}{2}\frac{\sin 2x}{2} + C$$
$$= \frac{x}{2} - \frac{\sin 2x}{4} + C$$

ب.

$$\int \cos^2 x \, \mathrm{d}x = \int \frac{1+\cos 2x}{2} \, \mathrm{d}x \qquad \cos^2 x = \frac{1+\cos 2x}{2}$$
$$= \frac{x}{2} + \frac{\sin 2x}{4} + C$$

□

سوالات

الٹے تفرق کا حصول

سوال ۵.۱ تا سوال ۵.۱۸ میں دیے ہر تفاعل کا الٹ تفرق زبانی (بغیر کسی جدول کی مدد کے) لکھیں۔ جواب کی تصدیق کی خطر جواب کا تفرق لیں۔

سوال ۵.۱: (ا) $2x$، (ب) x^2، (ج) $x^2 - 2x + 1$

سوال ۵.۲: (ا) $6x$، (ب) x^7، (ج) $x^7 - 6x + 8$

سوال ۵.۳: (ا) $-3x^{-4}$، (ب) x^{-4}، (ج) $x^{-4} + 2x + 3$

سوال ۵.۴: (ا) $2x^{-3}$، (ب) $\frac{x^{-3}}{2} + x^2$، (ج) $-x^{-3} + x - 1$

سوال ۵.۵: (ا) $\frac{1}{x^2}$، (ب) $\frac{5}{x^2}$، (ج) $2 - \frac{5}{x^2}$

۳۵۱ سوال ۵.۶: (ا) $-\frac{2}{x^3}$، (ب) $\frac{1}{2x^3}$، (ج) $x^3 - \frac{1}{x^3}$

۳۵۲ سوال ۵.۷: (ا) $\frac{3}{2}\sqrt{x}$، (ب) $\frac{1}{2\sqrt{x}}$، (ج) $\sqrt{x} + \frac{1}{\sqrt{x}}$

۳۵۳ سوال ۵.۸: (ا) $\frac{4}{3}\sqrt[3]{x}$، (ب) $\frac{1}{3\sqrt[3]{x}}$، (ج) $\sqrt[3]{x} + \frac{1}{\sqrt[3]{x}}$

۳۵۴ سوال ۵.۹: (ا) $\frac{2}{3}x^{-\frac{1}{3}}$، (ب) $\frac{1}{3}x^{-\frac{2}{3}}$، (ج) $-\frac{1}{3}x^{-\frac{4}{3}}$

۳۵۵ سوال ۵.۱۰: (ا) $\frac{1}{2}x^{-\frac{1}{2}}$، (ب) $-\frac{1}{2}x^{-\frac{3}{2}}$، (ج) $-\frac{3}{2}x^{-\frac{5}{2}}$

۳۵۶ سوال ۵.۱۱: (ا) $-\pi \sin \pi x$، (ب) $3 \sin x$، (ج) $\sin \pi x - 3 \sin 3x$

۳۵۷ سوال ۵.۱۲: (ا) $\pi \cos \pi x$، (ب) $\frac{\pi}{2} \cos \frac{\pi x}{2}$، (ج) $\cos \frac{\pi x}{2} + \pi \cos x$

۳۵۸ سوال ۵.۱۳: (ا) $\sec^2 x$، (ب) $\frac{2}{3} \sec^2 \frac{x}{3}$، (ج) $-\sec^2 \frac{3x}{2}$

۳۵۹ سوال ۵.۱۴: (ا) $\csc^2 x$، (ب) $-\frac{3}{2} \csc^2 \frac{3x}{2}$، (ج) $1 - 8 \csc^2 2x$

۳۶۰ سوال ۵.۱۵: (ا) $\csc x \cot x$، (ب) $-\csc 5x \cot 5x$، (ج) $-\pi \csc \frac{\pi x}{2} \cot \frac{\pi x}{2}$

۳۶۱ سوال ۵.۱۶: (ا) $\sec x \tan x$، (ب) $4 \sec 3x \tan 3x$، (ج) $\sec \frac{\pi x}{2} \tan \frac{\pi x}{2}$

۳۶۲ سوال ۵.۱۷: $(\sin x - \cos x)^2$

۳۶۳ سوال ۵.۱۸: $(1 + 2 \cos x)^2$

۳۶۴ **تکمل کا حصول**

۳۶۵ سوال ۵.۱۹ تا سوال ۵.۵۸ میں تکمل حاصل کریں۔ تکمل کا تفرق لے کر جواب کی تصدیق کریں۔

۳۶۶ سوال ۵.۱۹: $\int (x + 1)\, \mathrm{d}x$

۳۶۷ سوال ۵.۲۰: $\int (5 - 6x)\, \mathrm{d}x$

۳۶۸ سوال ۵.۲۱: $\int (3t^2 + \frac{t}{2})\, \mathrm{d}t$

۳۶۹ سوال ۵.۲۲: $(\frac{t^2}{2} + 4t^3)\, \mathrm{d}t$

۳۷۰ سوال ۵.۲۳: $(2x^3 - 5x + 7)\, \mathrm{d}x$

۳۷۱ سوال ۵.۲۴: $\int (1 - x^2 - 3x^5)\, \mathrm{d}x$

۳۷۲ سوال ۵.۲۵: $\int (\frac{1}{x^2} - x^2 - \frac{1}{3})\, \mathrm{d}x$

۳۷۳ سوال ۵.۲۶: $\int (\frac{1}{5} - \frac{2}{x^3} + 2x)\, \mathrm{d}x$

۳۷۴ سوال ۵.۲۷: $\int x^{-\frac{1}{3}}\, \mathrm{d}x$

۳۷۵ سوال ۵.۲۸: $\int x^{-\frac{5}{4}}\, \mathrm{d}x$

۳۷۶ سوال ۵.۲۹: $\int (\sqrt{x} + \sqrt[3]{x})\,\mathrm{d}x$

۳۷۷ سوال ۵.۳۰: $\int (\frac{\sqrt{x}}{2} + \frac{2}{\sqrt{x}})\,\mathrm{d}x$

۳۷۸ سوال ۵.۳۱: $\int (8y - \frac{2}{y^{1/4}})\,\mathrm{d}y$

۳۷۹ سوال ۵.۳۲: $\int (\frac{1}{7} - \frac{1}{y^{5/4}})\,\mathrm{d}y$

۳۸۰ سوال ۵.۳۳: $\int 2x(1 - x^{-3})\,\mathrm{d}x$

۳۸۱ سوال ۵.۳۴: $\int x^{-3}(x+1)\,\mathrm{d}x$

۳۸۲ سوال ۵.۳۵: $\int \frac{t\sqrt{t}+\sqrt{t}}{t^2}\,\mathrm{d}t$

۳۸۳ سوال ۵.۳۶: $\int \frac{4+\sqrt{t}}{t^3}\,\mathrm{d}t$

۳۸۴ سوال ۵.۳۷: $\int (-2\cos t)\,\mathrm{d}t$

۳۸۵ سوال ۵.۳۸: $\int (-5\sin t)\,\mathrm{d}t$

۳۸۶ سوال ۵.۳۹: $7\sin\frac{\theta}{3}\,\mathrm{d}\theta$

۳۸۷ سوال ۵.۴۰: $\int 3\cos 5\theta\,\mathrm{d}\theta$

۳۸۸ سوال ۵.۴۱: $\int (-3\csc^2 x)\,\mathrm{d}x$

۳۸۹ سوال ۵.۴۲: $\int (-\frac{\sec^2 x}{3})\,\mathrm{d}x$

۳۹۰ سوال ۵.۴۳: $\int \frac{\csc\theta\cot\theta}{2}\,\mathrm{d}\theta$

۳۹۱ سوال ۵.۴۴: $\frac{2}{5}\sec\theta\tan\theta\,\mathrm{d}\theta$

۳۹۲ سوال ۵.۴۵: $\int (4\sec x\tan x - 2\sec^2 x)\,\mathrm{d}x$

۳۹۳ سوال ۵.۴۶: $\int \frac{1}{2}(\csc^2 x - \csc x\cot x)\,\mathrm{d}x$

۳۹۴ سوال ۵.۴۷: $\int (\sin 2x - \csc^2 x)\,\mathrm{d}x$

۳۹۵ سوال ۵.۴۸: $\int (2\cos 2x - 3\sin 3x)\,\mathrm{d}x$

۳۹۶ سوال ۵.۴۹: $\int 4\sin^2 y\,\mathrm{d}y$

۳۹۷ سوال ۵.۵۰: $\int \frac{\cos^2 y}{7}\,\mathrm{d}y$

۳۹۸ سوال ۵.۵۱: $\int \frac{1+\cos 4t}{2}\,\mathrm{d}t$

۳۹۹ سوال ۵.۵۲: $\int \frac{1-\cos 6t}{2}\,\mathrm{d}t$

۴۰۰ سوال ۵.۵۳: $\int (1+\tan^2\theta)\,\mathrm{d}\theta$ اشارہ: $1+\tan^2\theta = \sec^2\theta$

۴۰۱ سوال ۵.۵۴: $\int (2+\tan^2\theta)\,\mathrm{d}\theta$

۴۰۲ سوال ۵.۵۵: $\int \cot^2 x\,\mathrm{d}x$

۴۰۳ سوال ۵.۵۶: $\int (1-\cot^2 x)\,\mathrm{d}x$

۴۰۴ سوال ۵.۵۷: $\int \cos\theta(\tan\theta+\sec\theta)\,\mathrm{d}\theta$

۴۰۵ سوال ۵.۵۸: $\int \frac{\csc\theta}{\csc\theta-\sin\theta}\,\mathrm{d}\theta$

۴۰۶ **تکمل کلیہ کی تصدیق**

۴۰۷ سوال ۵.۵۹ تا سوال ۵.۶۴ میں دیے تکملی کلیات کی تصدیق بذریعہ تفرق کریں۔ ہم حصہ ۵.۳ میں دیکھیں گے کہ ایسے کلیات کہاں سے آتے ہیں۔

۴۰۸ سوال ۵.۵۹: $\int (7x-2)^3\,\mathrm{d}x = \frac{(7x-2)^4}{28}+C$

۴۰۹ سوال ۵.۶۰: $\int (3x+5)^{-2}\,\mathrm{d}x = -\frac{(3x+5)^{-1}}{3}+C$

۴۱۰ سوال ۵.۶۱: $\int \sec^2(5x-1)\,\mathrm{d}x = \frac{1}{5}\tan(5x-1)+C$

۴۱۱ سوال ۵.۶۲: $\int \csc^2(\frac{x-1}{3})\,\mathrm{d}x = -3\cot(\frac{x-1}{3})+C$

۴۱۲ سوال ۵.۶۳: $\int \frac{1}{(x+1)^2}\,\mathrm{d}x = -\frac{1}{x+1}+C$

۴۱۳ سوال ۵.۶۴: $\int \frac{1}{(x+1)^2}\,\mathrm{d}x = \frac{x}{x+1}+C$

۴۱۴ سوال ۵.۶۵: درج ذیل کلیات میں سے درست اور غلط کی نشاندہی کریں۔ اپنے جوابات کی وجہ پیش کریں۔

ا۔ $\int x\sin x\,\mathrm{d}x = \frac{x^2}{2}\sin x + C$

ب۔ $\int x\sin x\,\mathrm{d}x = -x\cos x + C$

ج۔ $\int x\sin x\,\mathrm{d}x = -x\cos x + \sin x + C$

۴۱۵ سوال ۵.۶۶: درج ذیل کلیات میں سے درست اور غلط کی نشاندہی کریں۔ اپنے جوابات کی وجہ پیش کریں۔

ا۔ $\int \tan\theta\sec^2\theta\,\mathrm{d}\theta = \frac{\sec^3\theta}{3}+C$

ب۔ $\int \tan\theta\sec^2\theta\,\mathrm{d}\theta = \frac{1}{2}\tan^2\theta+C$

ج۔ $\int \tan\theta\sec^2\theta\,\mathrm{d}\theta = \frac{1}{2}\sec^2\theta$

۶۴۱۶ سوال ۵.۶۷: درج ذیل کلیات میں سے درست اور غلط کی نشاندہی کریں۔ اپنے جوابات کی وجہ پیش کریں۔

ا۔ $$\int (2x+1)^2\,\mathrm{d}x = \frac{(2x+1)^3}{3} + C$$

ب۔ $$\int 3(2x+1)^2\,\mathrm{d}x = (2x+1)^3 + C$$

ج۔ $$\int 6(2x+1)^2\,\mathrm{d}x = (2x+1)^3 + C$$

۶۴۱۷ سوال ۵.۶۸: درج ذیل کلیات میں سے درست اور غلط کی نشاندہی کریں۔ اپنے جوابات کی وجہ پیش کریں۔

ا۔ $$\int \sqrt{2x+1}\,\mathrm{d}x = \sqrt{x^2+x+C}$$

ب۔ $$\int \sqrt{2x+1}\,\mathrm{d}x = \sqrt{x^2+x}+C$$

ج۔ $$\int \sqrt{2x+1}\,\mathrm{d}x = \frac{1}{3}(\sqrt{2x+1})^3 + C$$

۶۴۱۸ **نظریہ اور مثالیں**

۶۴۱۹ سوال ۵.۶۹: درج ذیل فرض کرتے ہوئے

$$f(x) = \frac{\mathrm{d}}{\mathrm{d}x}(1-\sqrt{x}), \quad g(x) = \frac{\mathrm{d}}{\mathrm{d}x}(x+2)$$

۶۴۲۰ درج ذیل تلاش کریں۔

ا۔ $\int f(x)\,\mathrm{d}x$

ب۔ $\int g(x)\,\mathrm{d}x$

ج۔ $\int [-f(x)]\,\mathrm{d}x$

د۔ $\int [-g(x)]\,\mathrm{d}x$

ہ۔ $\int [f(x)+g(x)]\,\mathrm{d}x$

و۔ $\int [f(x)-g(x)]\,\mathrm{d}x$

ز۔ $\int [x+f(x)]\,\mathrm{d}x$

ح۔ $\int [g(x)-4]\,\mathrm{d}x$

۶۴۲۱ سوال ۵.۷۰: درج ذیل فرض کرتے ہوئے سوال ۵.۶۹ دوبارہ حل کریں۔

$$f(x) = \frac{\mathrm{d}}{\mathrm{d}x}e^x, \quad g(x) = \frac{\mathrm{d}}{\mathrm{d}x}(x\sin x)$$

۶۴۲۲

۶۴۲۳

۵.۲ تفرقی مساوات، ابتدائی قیمت مسئلے، اور ریاضیاتی نمونہ کشی

تفاعل کی معلوم قیمت استعمال کرتے ہوئے تفاعل کے غیر قطعی تکمل میں سے مخصوص الٹ تفرق منتخب کرنا اس حصے میں سکھایا جائے گا۔ ریاضیاتی نمونہ کشی، جو تحقیق میں مدد دیتی ہے، کے لئے یہ عمل ضروری ہے۔

ابتدائی قیمت مسائل

درج ذیل صورت کی مساوات جس میں تفرق پایا جاتا ہو **تفرقی مساوات**[۶] کہلاتی ہے۔

$$\frac{\mathrm{d}y}{\mathrm{d}x} = f(x)$$

اس مساوات میں x آزاد متغیر جبکہ y تابع متغیر یا درکار تفاعل ہے۔ ہم x کا ایسا تفاعل y جاننا چاہتے ہیں جس کی نقطہ x_0 پر قیمت y_0 ہو۔ اس کو **ابتدائی قیمت مسئلہ**[۷] کہتے ہیں۔ جیسا مثال ۵.۷ میں دکھایا گیا ہے، اس مسئلے کو دو قدموں میں حل کیا جاتا ہے۔

مثال ۵.۷: جسم کی ابتدائی رفتار اور اسراع سے جسم کی سمتی رفتار کا حصول

سطح زمین کے نزدیک ثقلی اسراع کی قیمت $g = 9.8\,\mathrm{m\,s^{-2}}$ ہے۔ اس کا مطلب ہے کہ سطح زمین کے قریب خلا میں آزادانہ گرتے ہوئے جسم کی سمتی رفتار کی تبدیلی کی شرح درج ذیل ہو گی۔

$$\frac{\mathrm{d}v}{\mathrm{d}t} = 9.8\,\mathrm{m\,s^{-2}}$$

اگر جسم کو ساکن حال سے گرنے دیا جائے تب t سیکنڈ بعد اس کی سمتی رفتار کتنی ہو گی؟

حل: ریاضیاتی طور پر ہم درج ذیل ابتدائی قیمت مسئلہ حل کرتے ہیں۔

$\frac{\mathrm{d}v}{\mathrm{d}t} = 9.8$	تفرقی مساوات
$v(0)0$	ابتدائی معلومات

ابتدائی معلومات سے مراد لمحہ $t = 0$ پر ساکن جسم کی سمتی رفتار $v = 0$ ہے جس کو مختصراً $v(0) = 0$ لکھا جاتا ہے۔ پہلے قدم میں ہم تفرقی مساوات کو حل کرنے کی خاطر دونوں اطراف کا t کے لحاظ سے تکمل لیتے ہیں۔

$\frac{\mathrm{d}v}{\mathrm{d}t} = 9.8$	تفرقی مساوات
$\int \frac{\mathrm{d}v}{\mathrm{d}t}\,\mathrm{d}t = \int 9.8\,\mathrm{d}t$	t کے لحاظ سے تکمل
$v + C_1 = 9.8t + C_2$	تکمل کا نتیجہ
$v = 9.8t + C$	مستقل یکجا کیے گئے ہیں

---

[۶] differentialequation
[۷] initialvalueproblem

۶۳۳۸ آخری مساوات کے تحت لمحہ t پر جسم کی رفتار $9.8t + C$ ہو گی جہاں C نامعلوم مستقل ہے جس کی قیمت ابتدائی معلومات سے حاصل کی جاتی ہے۔

$$\begin{aligned} v &= 9.8t + C \\ 0 &= 9.8(0) + C \qquad\qquad v(0) = 0 \\ C &= 0 \end{aligned}$$

۶۳۳۹ یوں لمحہ t پر جسم کی رفتار درج ذیل ہو گی۔

$$v = 9.8t + 0 = 9.8t\,\mathrm{m\,s^{-2}}$$

۶۳۴۰ □

۶۳۴۱ تفاعل $f(x)$ کا غیر قطعی تکمل $F(x) + C$ تفرقی مساوات $\frac{\mathrm{d}y}{\mathrm{d}x} = f(x)$ کا **عمومی حل**[۸] $y = F(x) + C$ دیتا ہے۔ عمومی
۶۳۴۲ حل میں تفرقی مساوات کے تمام حل (جن کی تعداد لا متناہی ہے) شامل ہیں۔ تفرقی مساوات کو حل کرتے ہوئے ہم عمومی حل حاصل کرتے ہیں۔ اس کے بعد
۶۳۴۳ ہم ابتدائی معلومات استعمال کرتے ہوئے ابتدائی قیمت مسئلے کا **مخصوص حل**[۹] تلاش کرتے ہیں جو ابتدائی معلومات $y(x_0) = y_0$ کو مطمئن کرتا ہے۔
۶۳۴۴ ابتدائی معلومات سے مراد نقطہ x_0 پر y کی قیمت y_0 ہے جس کو مختصراً $y(x_0) = y_0$ لکھا جاتا ہے۔

۶۳۴۵ مثال ۵.۸: نقطہ اور ڈھلوان سے منحنی کا حصول
۶۳۴۶ ایک منحنی جو نقطہ $(1, -1)$ سے گزرتی ہے کا نقطہ (x, y) پر ڈھلوان $3x^2$ ہے۔ اس منحنی کو تلاش کریں۔

۶۳۴۷ حل: ریاضی کی زبان میں ہمیں درج ذیل ابتدائی مسئلہ حل کرنے کو کہا گیا ہے۔

$$\begin{aligned} \frac{\mathrm{d}y}{\mathrm{d}x} &= 3x^2 && \text{منحنی کا ڈھلوان} \\ y(1) &= -1 && \text{ابتدائی معلومات} \end{aligned}$$

۶۳۴۸ ہم پہلے تفرقی مساوات سے عمومی حل تلاش کرتے ہیں۔

$$\begin{aligned} \frac{\mathrm{d}y}{\mathrm{d}x} &= 3x^2 \\ \int \frac{\mathrm{d}y}{\mathrm{d}x}\,\mathrm{d}x &= \int 3x^2\,\mathrm{d}x \\ y &= x^3 + C && \text{تکمل کے مستقلوں کی یکجا کیا گیا ہے} \end{aligned}$$

۶۳۴۹ عمومی حل $y = x^3 + C$ ہے جس کو C کی مختلف قیمتوں کے لئے شکل ۵.۱ میں دکھایا گیا ہے۔ عمومی حل میں ابتدائی معلومات پر کر کے نامعلوم
۶۳۵۰ مستقل C حاصل کرتے ہیں۔

$$\begin{aligned} y &= x^3 + C \\ -1 &= (1)^3 + C \\ C &= -2 \end{aligned}$$

---

[۸] generalsolution
[۹] particularsolution

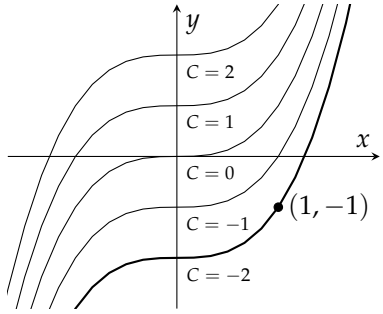

شکل ۵.۱: عمومی اور مخصوص حل برائے مثال ۵.۸

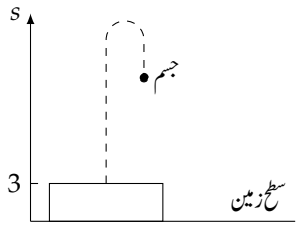

شکل ۵.۲: تصویر کشی برائے مثال ۵.۹

۲۴۵۱ عمومی حل میں C پر کرتے ہوئے درج ذیل مخصوص حل ملتا ہے جس کو شکل ۵.۱ میں موٹی لکیر سے ظاہر کیا گیا ہے۔

$$y = x^3 - 2$$

۲۴۵۲ □

۲۴۵۳ اگلی مثال میں ہمیں درکار تفاعل حاصل کرنے کی خاطر دو مرتبہ تکمل لینا ہو گا۔ پہلا تکمل

$$\int \frac{\mathrm{d}^2 s}{\mathrm{d}t^2} = \frac{\mathrm{d}s}{\mathrm{d}t} + C$$

۲۴۵۴ تفاعل کا پہلا تفرق دیتا ہے۔ دوسرا تکمل ہمیں تفاعل دے گا۔

۲۴۵۵ **مثال ۵.۹:** ابتدائی مقام، ابتدائی سمتی رفتار اور اسراع سے جسم کی بلندی کا حصول

۲۴۵۶ زمین سے $3\,\mathrm{m}$ بلندی سے ایک بھاری جسم کو لمحہ $t = 0$ پر سیدھا اوپر $160\,\mathrm{m\,s^{-1}}$ کی رفتار سے پھینکا جاتا ہے۔ فرض کریں کہ جسم پر صرف ثقلی
۲۴۵۷ قوت زیر اثر ہے جو نیچے رخ $9.8\,\mathrm{m\,s^{-2}}$ کی اسراع پیدا کرتا ہے۔ زمین سے جسم کی بلندی کو بطور t کا تفاعل تلاش کریں۔ 3 سیکنڈ بعد زمین سے جسم کی
۲۴۵۸ بلندی کتنی ہو گی؟

۲۴۵۹ حل: اس مسئلے کا ریاضی نمونہ اخذ کرنے کی خاطر ہم اس کی تصویر کشی کرتے ہیں (شکل ۵.۲) جہاں لمحہ t پر زمین سے جسم کی بلندی کو s سے ظاہر کیا جائے
۲۴۶۰ گا۔ ہم فرض کرتے ہیں کہ s متغیر t کا دوگنا قابل تفرق تفاعل ہے لہٰذا جسم کی رفتار اور اسراع کو درج ذیل لکھا جا سکتا ہے۔

$$v = \frac{\mathrm{d}s}{\mathrm{d}t}, \quad a = \frac{\mathrm{d}v}{\mathrm{d}t} = \frac{\mathrm{d}^2 s}{\mathrm{d}t^2}$$

۲۴۶۱ چونکہ ہمارے ریاضی نمونہ میں اسراع گھٹتے ہوئے s کے رخ عمل کرتی ہے لہٰذا ہمارا ابتدائی قیمت مسئلہ درج ذیل ہو گا۔

$$\frac{\mathrm{d}^2 s}{\mathrm{d}t^2} = -9.8 \qquad \text{تفرقی مساوات}$$

$$\frac{\mathrm{d}s}{\mathrm{d}t}(0) = 160, \quad s(0) = 3 \qquad \text{ابتدائی معلومات}$$

۶۴۶۲ ہم تفرقی مساوات کو t کے لحاظ سے تکمل کر کے $\frac{\mathrm{d}s}{\mathrm{d}t}$ حاصل کرتے ہیں۔

$$\begin{aligned}\int \frac{\mathrm{d}^2 s}{\mathrm{d}t^2}\,\mathrm{d}t &= \int (-9.8)\,\mathrm{d}t\\ \frac{\mathrm{d}s}{\mathrm{d}t} &= -9.8t + C_1\end{aligned}$$

۶۴۶۳ ہم پہلی ابتدائی معلومات استعمال کرتے ہوئے مستقل C_1 تلاش کرتے ہیں۔

$$\begin{aligned}160 &= -9.8(0) + C_1 \qquad & \frac{\mathrm{d}s}{\mathrm{d}t}(0) &= 160\\ C_1 &= 160\end{aligned}$$

۶۴۶۴ یوں $\frac{\mathrm{d}s}{\mathrm{d}t}$ کا کلیہ مکمل ہوتا ہے:

$$\frac{\mathrm{d}s}{\mathrm{d}t} = -9.8t + 160$$

۶۴۶۵ ہم t کے لحاظ سے $\frac{\mathrm{d}s}{\mathrm{d}t}$ کا تکمل لیتے ہوئے s تلاش کرتے ہیں۔

$$\begin{aligned}\int \frac{\mathrm{d}s}{\mathrm{d}t}\,\mathrm{d}t &= \int (-9.8t + 160)\,\mathrm{d}t\\ s &= -4.9t^2 + 160t + C_2\end{aligned}$$

۶۴۶۶ ہم دوسری ابتدائی معلومات پر کرتے ہوئے C_2 حاصل کرتے ہیں۔

$$\begin{aligned}3 &= -4.9(0)^2 + 160(0) + C_2\\ C_2 &= 3\end{aligned}$$

۶۴۶۷ یوں مخصوص حل s کا کلیہ اخذ ہوتا ہے جس کا آزاد متغیر t ہے۔

$$s = -4.9t^2 + 160t + 3$$

۶۴۶۸ لمحہ $t = 3$ پر زمین سے جسم کی بلندی تلاش کرنے کی خاطر ہم اس کلیہ میں $t = 3$ پر کرتے ہیں۔

$$s = -4.9(3)^2 + 160(3) + 3 = 438.9\,\mathrm{m}$$

۶۴۶۹ □

۶۴۷۰ یک رتبی تفرق سے تفاعل حاصل کرتے ہوئے ایک اختیاری مستقل حاصل ہوتا ہے، جیسا مثال ۵.۷ اور مثال ۵.۸ میں دیکھا گیا، جبکہ دو رتبی تفرق تفرق سے
۶۴۷۱ تفاعل کے حصول میں دو اختیاری مستقل حاصل ہوتے ہیں جیسا مثال ۵.۹ میں دیکھا گیا۔ اسی طرح تین رتبی تفرق سے حاصل تفاعل میں تین اختیاری مستقل
۶۴۷۲ پائے جائیں گے، وغیرہ وغیرہ۔ اختیاری مستقل کی قیمت ابتدائی معلومات سے حاصل ہو گی۔ ہر بار الٹ تفرق حاصل کرتے ہوئے ہمیں مستقل کی قیمت معلوم
۶۴۷۳ کرنے کے لئے ابتدائی قیمت درکار ہو گی۔

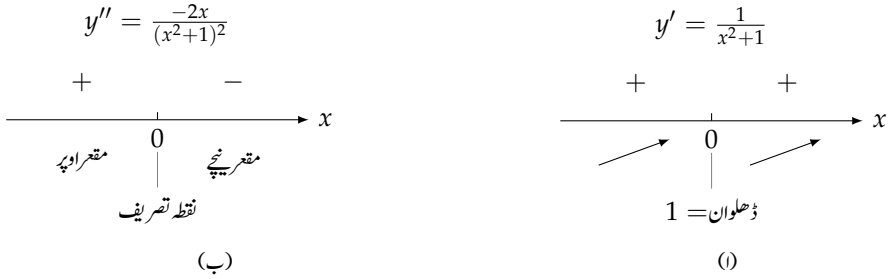

شکل ۵.۳: منحنی کی اتار چڑھاو اور مقعر (مثال ۵.۱۰)

۶۳۷۴ منحنی حل کا خاکہ

۶۳۷۵ تفرقی مساوات کے حل کی ترسیم کو **منحنی حل**[10] یا **منحنی تکمل**[11] کہتے ہیں۔ تفرقی مساوات $\frac{dy}{dx} = 3x^2$ کے حل $y = x^3 + C$ کو شکل
۶۳۷۶ ۵.۱ میں دکھایا گیا ہے۔ بعض اوقات ہم مساوات $\frac{dy}{dx} = f(x)$ کا صریح حل تلاش کرنے سے قاصر ہوتے ہیں (یعنی ہم $f(x)$ کا الٹ تفرق تلاش
۶۳۷۷ کرنے میں ناکام ہوتے ہیں) لیکن اس کے باوجود ہم منحنی حل کی عمومی صورت تفرقی مساوات سے اخذ کر پاتے ہیں۔

۶۳۷۸ مثال ۵.۱۰: درج ذیل تفرقی مساوات کے حل کا خاکہ کھینچیں۔

$$y' = \frac{1}{x^2+1}$$

۶۳۷۹ حل: پہلا قدم: y' اور y'': منحنی کی عمومی صورت y' اور y'' پر منحصر ہوتی ہے (حصہ ۴.۴)۔ ہم $y' = \frac{1}{x^2+1}$ پہلے سے جانتے
۶۳۸۰ ہیں جس کا تفرق y'' دیتا ہے:

$$y'' = \frac{\mathrm{d}}{\mathrm{d}x}y' = \frac{\mathrm{d}}{\mathrm{d}x}\left(\frac{1}{x^2+1}\right) = \frac{-2x}{(x^2+1)^2}$$

۶۳۸۱ دوسرا قدم: اتار چڑھاو۔ y' کا دائرہ کار $(-\infty, \infty)$ ہے۔ نقطہ فاصل نہیں پایا جاتا ہے لہٰذا منحنی حل میں کنگرہ اور نقاط انتہا نہیں پائے جائیں
۶۳۸۲ گے۔ چونکہ $y' > 0$ ہے لہٰذا منحنی بائیں سے دائیں جاتے ہوئے چڑھتی رہے گی۔ نقطہ $x = 0$ پر منحنی کا ڈھلوان 1 ہے (شکل ۵.۳-ا)۔

۶۳۸۳ تیسرا قدم: مقعر۔ دوگنا تفرق $x = 0$ پر $(+)$ سے تبدیل ہو کر $(-)$ ہوتا ہے۔ یوں تمام منحنیات کا $x = 0$ پر نقطہ تصریف پایا جائے
۶۳۸۴ گا (شکل ۵.۳-ب)۔

۶۳۸۵ چوتھا قدم: خلاصہ: ترسیم حل کی جھکاو شکل ۵.۴-ا اور اس کی عمومی صورت شکل ۵.۴-ب میں دکھائی گئی ہے۔

۶۳۸۶ پہلا تفرق مزید معلومات فراہم کرتا ہے:

$$\lim_{x\to\mp\infty} y' = \lim_{x\to\mp\infty} \frac{1}{x^2+1} = 0$$

---

[10] solutioncurve
[11] integralcurve

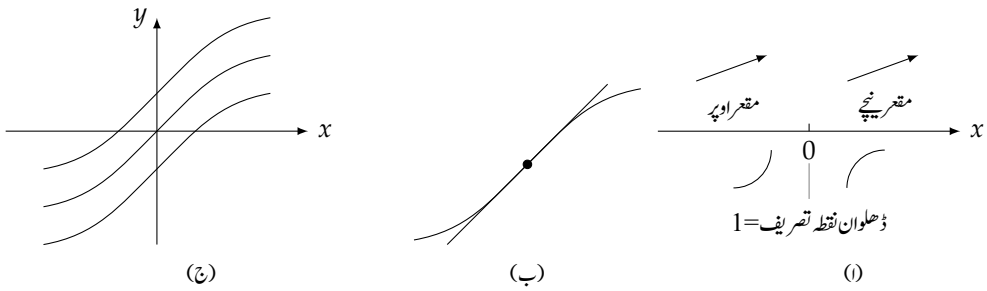

شکل ۵.۴: منحنی کی عمومی صورت (مثال ۵.۱۰)

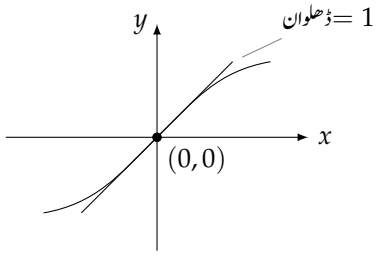

شکل ۵.۵: ابتدائی قیمت مسئلے کے مخصوص حل کا خاکہ (مثال ۵.۱۱)

۶۴۸۷ یوں $x \to \mp\infty$ پر منحنی افقی ہو گی۔

۶۴۸۸ پانچواں قدم: مخصوص نقطے اور منحنی حل۔ ہم جانتے ہیں کہ $x = 0$ پر منحنی کا ڈھلوان 1 ہے لہٰذا y محور کے کئی مقامات پر اکائی ڈھلوان کی (آپس
۶۴۸۹ میں متوازی) منحنیات کھینچتے ہیں شکل ۵.۴-ج۔ □

۶۴۹۰ مثال ۵.۱۱: درج ذیل ابتدائی قیمت مسئلے کے حل کا خاکہ کھینچیں۔

$$y' = \frac{1}{x^2+1} \qquad \text{تفرقی مساوات}$$

$$y(0) = 0 \qquad \text{ابتدائی معلومات}$$

۶۴۹۱ حل: ہم نے مثال ۵.۱۰ میں عمومی حل کا خاکہ کھینچا جس کو شکل ۵.۴-ج میں دکھایا گیا ہے۔ ان ترسیمات میں سے وہ ترسیم جو نقطہ $(0,0)$ سے گزرتی
۶۴۹۲ ہے ابتدائی قیمت مسئلے کی درکار مخصوص حل ہے جس کو شکل ۵.۵ میں دکھایا گیا ہے۔ □

۶۴۹۳ یہ ترکیب بالخصوص اس موقع پر بہت مددگار ثابت ہوتی ہے جب مساوات $\frac{\mathrm{d}y}{\mathrm{d}x} = f(x)$ میں تفاعل $f(x)$ کے الٹ تفرق کا بنیادی کلیہ نہیں پایا جاتا
۶۴۹۴ ہو۔ تفاعل $f(x) = \frac{1}{x^2+1}$ کا الٹ تفرق پایا جاتا ہے، جیسا کہ آپ باب ۷ میں دیکھیں گے، جبکہ تفاعل $g(x) = \sqrt{1+x^4}$ کا الٹ تفرق

نہیں پایا جاتا ہے۔ یوں تفرقی مساوات $\frac{\mathrm{d}y}{\mathrm{d}x} = \sqrt{1+x^4}$ کو ہم ترسیمی یا اعدادی طریقہ سے حل کریں گے۔

ریاضیاتی نمونہ کشی

ریاضیاتی نمونہ کشی عموماً چار اقدام پر مبنی ہوتا ہے۔ ہم پہلے حقیقی دنیا میں کسی عمل (مثلاً گیند کا گرنا یا کھانسی کے دوران سانس کی نالی کا سکڑنا) کا مشاہدہ کرتے ہوئے اس کے اہم خصوصیات کو ظاہر کرنے والے ریاضی متغیرات کا نظام بناتے ہیں اور معلومات کا ریاضی استعارہ کرتے ہیں۔ اس کے بعد متغیرات کے تعلقات کو (عموماً) موجودہ ریاضی کی زبان میں لکھتے ہوئے نتائج اخذ کرتے ہیں۔ اس کے بعد ریاضیاتی حاصل نتائج کو زیر غور نظام پر لاگو کرتے ہیں۔ آخر میں ہم ریاضی نمونہ سے حاصل نتائج کا مشاہدے کے ساتھ موازنہ کرتے ہوئے دیکھتے ہیں کہ آیا نمونہ پیش گوئی کر سکتا ہے۔ ہم یہ بھی دیکھتے ہیں کہ آیا نمونہ دیگر نظام پر قابل اطلاق ہو گا۔ بہترین نمونہ وہ ہے جس کے نتائج مشاہدے کے عین مطابق ہوں، جو پیش گوئی کر سکے، جس کا استعمال وسیع اور آسان ہو۔

گیند کے گرنے کو مثال بناتے ہوئے مذکورہ بالا اقدام وضع کرتے ہیں۔ پہلے قدم پر ہم درج ذیل متغیرات اور مشاہدے اکٹھے کرتے ہیں۔

متغیرات:

فاصلہ: s

وقت: t

ابتدائی قیمتیں:

لمحہ $t = 0$ پر $s = 0$ اور $v = 0$ ہیں۔

فرض کیا گیا تعلق: $s = 4.9t^2$

دوسرے قدم پر احصاء استعمال کرتے ہوئے درج ذیل ریاضی نتائج اخذ کرتے ہیں۔

$$v = 9.8t$$
$$a = 9.8$$

تیسرے قدم پر نتائج کی تشریح کرتے ہوئے حقیقی دنیا کے لحاظ سے مفہوم بیان کرتے ہیں۔ یوں لمحہ t پر رفتار $9.8t$ میٹر فی سیکنڈ ہو گا جبکہ کسی بھی گرتے ہوئے جسم کی اسراع $9.8\,\mathrm{m\,s^{-2}}$ ہو گی۔

آخری قدم پر ہم آزادانہ گرنے والے جسم کی لمحاتی رفتار اور اسراع ناپ کر تصدیق کرتے ہیں کہ ریاضی نمونہ درست نتائج کی پیش گوئی کر سکتا ہے۔

نقل اتارنا بذریعہ کمپیوٹر

کسی بھی نظام کو سمجھنے کی خاطر ہم مختلف حالات میں اس کا مشاہدہ کرتے ہیں۔ بعض پیچیدہ نظام کا مشاہدہ کرنا ممکن نہیں ہوتا ہے۔ (مثلاً جب مشاہدہ بہت مہنگا یا خطرناک ہو یا اس کے لئے بہت وقت درکار ہو۔) ایٹم بم یا سیلابی تباہی یا کہکشاں کا مشاہدہ اس زمرے میں آتے ہیں۔ ان نظام پر غور کرنے کے لئے ہم ریاضی نمونہ کا سہارا لیتے ہیں۔ جہاں نظام کا حساب پیچیدہ یا بہت لمبا ہو وہاں کمپیوٹر کا استعمال سود مند ثابت ہوتا ہے۔ بلند عمارت، دریا پر پل یا برقیاتی ادوار بنانے سے پہلے ان کے نمونوں پر کمپیوٹر کی مدد سے غور کیا جاتا ہے۔ ہم کہتے ہیں کہ ہم کمپیوٹر پر عمل کا **نقل اتارتے**[۱۲] ہیں۔

---

[۱۲] simulation

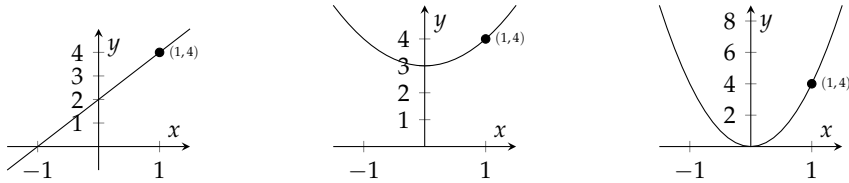

شکل ۵.۶: ترسیمات برائے سوال ۵.۷۱

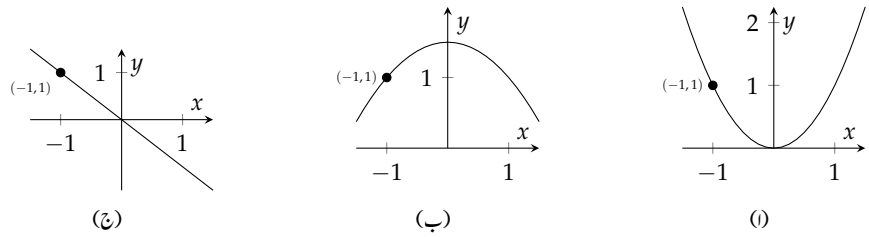

شکل ۵.۷: ترسیمات برائے سوال ۵.۷۲

۶۵۱۸ **سوالات**

۶۵۱۹ **ابتدائی قیمت مسائل**

۶۵۲۰ سوال ۵.۷۱: درج ذیل ابتدائی قیمت مسئلے کا حل شکل ۵.۶ میں کون سی ترسیم پیش کرتا ہے؟ اپنے جواب کی وجہ پیش کریں۔

$$\frac{\mathrm{d}y}{\mathrm{d}x} = 2x$$
$$y(1) = 4$$

۶۵۲۱

۶۵۲۲ سوال ۵.۷۲: درج ذیل ابتدائی قیمت مسئلے کا حل شکل ۵.۷ میں کون سی ترسیم پیش کرتا ہے؟ اپنے جواب کی وجہ پیش کریں۔

$$\frac{\mathrm{d}y}{\mathrm{d}x} = -x$$
$$y(-1) = 1$$

۶۵۲۳

۶۵۲۴ سوال ۵.۷۳ تا سوال ۵.۹۲ میں دیے ابتدائی قیمت مسائل حل کریں۔

۲۵۲۵ سوال ۵.۷۳: $\frac{dy}{dx} = 2x - 7, \quad y(2) = 0$

۲۵۲۶

۲۵۲۷ سوال ۵.۷۴: $\frac{dy}{dx} = 10 - x, \quad y(0) = -1$

۲۵۲۸ سوال ۵.۷۵: $\frac{dy}{dx} = \frac{1}{x^2} + x, \ x > 0, \quad y(2) = 1$

۲۵۲۹

۲۵۳۰ سوال ۵.۷۶: $\frac{dy}{dx} = 9x^2 - 4x + 5, \quad y(-1) = 0$

۲۵۳۱ سوال ۵.۷۷: $\frac{dy}{dx} = 3x^{-2/3}, \quad y(-1) = -5$

۲۵۳۲

۲۵۳۳ سوال ۵.۷۸: $\frac{dy}{dx} = \frac{1}{2\sqrt{x}}, \quad y(4) = 0$

۲۵۳۴ سوال ۵.۷۹: $\frac{ds}{dt} = 1 + \cos t, \quad s(0) = 4$

۲۵۳۵

۲۵۳۶ سوال ۵.۸۰: $\frac{ds}{dt} = \cos t + \sin t, \quad s(\pi) = 1$

۲۵۳۷ سوال ۵.۸۱: $\frac{dr}{d\theta} = -\pi \sin \pi\theta, \quad r(0) = 0$

۲۵۳۸

۲۵۳۹ سوال ۵.۸۲: $\frac{dr}{d\theta} = \cos \pi\theta, \quad r(0) = 1$

۲۵۴۰ سوال ۵.۸۳: $\frac{dv}{dt} = \frac{1}{2} \sec t \tan t, \quad v(0) = 1$

۲۵۴۱

۲۵۴۲ سوال ۵.۸۴: $\frac{dv}{dt} = 8t + \csc^2 t, \quad v(\frac{\pi}{2}) = -7$

۲۵۴۳ سوال ۵.۸۵: $\frac{d^2y}{dx^2} = 2 - 6x, \quad y'(0) = 4, \ y(0) = 1$

۲۵۴۴

۲۵۴۵ سوال ۵.۸۶: $\frac{d^2y}{dx^2} = 0, \quad y'(0) = 2, \ y(0) = 0$

۲۵۴۶ سوال ۵.۸۷: $\frac{d^2r}{dt^2} = \frac{2}{t^3}, \quad \left.\frac{dr}{dt}\right|_{t=1} = 1, \ r(1) = 1$

۲۵۴۷

۲۵۴۸ سوال ۵.۸۸: $\frac{d^2s}{dt^2} = \frac{3t}{8}, \quad \left.\frac{ds}{dt}\right|_{t=4} = 3, \ s(4) = 4$

۲۵۴۹ سوال ۵.۸۹: $\frac{d^3y}{dx^3} = 6, \ y''(0) = -8, \ y'(0) = 0, \ y(0) = 5$

۲۵۵۰

۲۵۵۱ سوال ۵.۹۰: $\frac{d^3\theta}{dt^3} = 0, \ \theta''(0) = -2, \ \theta'(0) = -\frac{1}{2}, \ \theta(0) = \sqrt{2}$

۲۵۵۲ سوال ۵.۹۱: $y^{(4)} = -\sin t + \cos t, \ y'''(0) = 7, \ y''(0) = y'(0) = -1, \ y(0) = 0$

۲۵۵۳

سوال ۵.۹۲: $y^{(4)} = -\cos x + 8\sin 2x,\ y'''(0) = 0,\ y''(0) = y'(0) = 1,\ y(0) = 3$

رفتار سے مقام معلوم کرنا

سوال ۵.۹۳ تا سوال ۵.۹۶ میں رفتار $v = \frac{\mathrm{d}s}{\mathrm{d}t}$ اور ابتدائی مقام دیے گئے ہیں۔ لمحہ t پر جسم کا مقام تلاش کریں۔

سوال ۵.۹۳: $v = 9.8t + 5, \quad s(0) = 10$

سوال ۵.۹۴: $v = 32t - 2, \quad s(1/2) = 4$

سوال ۵.۹۵: $v = \sin \pi t, \quad s(0) = 0$

سوال ۵.۹۶: $v = \frac{2}{\pi}\cos\frac{2t}{\pi}, \quad s(\pi^2) = 1$

اسراع سے مقام کی تلاش

سوال ۵.۹۷ تا سوال ۵.۱۰۰ میں اسراع $a = \frac{\mathrm{d}^2 s}{\mathrm{d}t^2}$، ابتدائی رفتار اور ابتدائی مقام دیے گئے ہیں۔ لمحہ t پر جسم کا مقام تلاش کریں۔

سوال ۵.۹۷: $a = 32, \quad v(0) = 20, \quad s(0) = 5$

سوال ۵.۹۸: $a = 9.8, \quad v(0) = -3, \quad s(0) = 0$

سوال ۵.۹۹: $a = -4\sin 2t, \quad v(0) = 2, \quad s(0) = -3$

سوال ۵.۱۰۰: $a = \frac{9}{\pi^2}\cos\frac{3t}{\pi}, \quad v(0) = 0, \quad s(0) = -1$

ترسیم کا حصول

سوال ۵.۱۰۱: ایسی ترسیم $y = f(x)$ تلاش کریں جو نقطہ $(9, 4)$ سے گزرتی ہو اور جس کا ڈھلوان $3\sqrt{x}$ ہو۔

سوال ۵.۱۰۲: منحنی $y = f(x)$ نقطہ $(0, 1)$ سے گزرتی ہے جہاں اس کا مماس افقی ہے۔ یہ ترسیم $\frac{\mathrm{d}^2 y}{\mathrm{d}x^2} = 6x$ کو مطمئن کرتی ہے۔ اس ترسیم کو تلاش کریں۔

منحنیات حل (تکملی منحنیات)

سوال ۵.۱۰۳ تا سوال ۵.۱۰۶ میں منحنی حل دکھائے گئے ہیں۔ دیے نقطے پر منحنی کی مساوات تلاش کریں۔

سوال ۵.۱۰۳: ترسیمات کو شکل ۵.۱۰۳ میں دکھایا گیا ہے۔

سوال ۵.۱۰۴: ترسیمات کو شکل ۵.۱۰۴ میں دکھایا گیا ہے۔

سوال ۵.۱۰۵: ترسیمات کو شکل ۵.۱۰۵ میں دکھایا گیا ہے۔

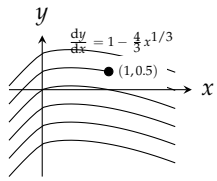

شکل ۵.۸: منحنیات برائے سوال ۵.۱۰۳

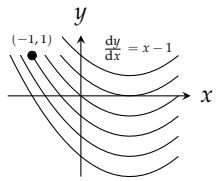

شکل ۵.۹: منحنیات برائے سوال ۵.۱۰۴

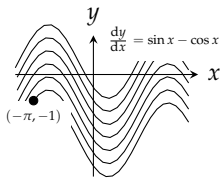

شکل ۵.۱۰: منحنیات برائے سوال ۵.۱۰۵

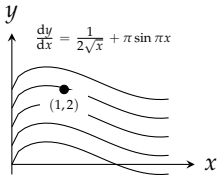

شکل ۵.۱۱: منحنیات برائے سوال ۵.۱۰۶

سوال ۵.۱۰۶: ترسیمات کو شکل ۵.۱۰۶ میں دکھایا گیا ہے۔

تفرقی مساوات کے حل کا خاکہ کھینچنا مثال ۵.۱۰ میں سکھایا گیا۔ اس ترکیب کو استعمال کرتے ہوئے سوال ۵.۱۰۷ تا سوال ۵.۱۱۰ میں دیے گئے تفرقی مساوات کے حل کے خاکے بنائیں۔

سوال ۵.۱۰۷: $\frac{dy}{dx} = 2x$

سوال ۵.۱۰۸: $\frac{dy}{dx} = -2x + 2$

سوال ۵.۱۰۹: $\frac{dy}{dx} = 1 - 3x^2$

سوال ۵.۱۱۰: $\frac{dy}{dx} = x^2$

سوال ۵.۱۱۱ تا سوال ۵.۱۱۴ میں دیے گئے تفرقی مساوات کے حل کا خاکہ مثال ۵.۱۰ اور مثال ۵.۱۱ کی طرح بنائیں۔

سوال ۵.۱۱۱: $\frac{dy}{dx} = \frac{1}{\sqrt{1-x^2}}, \quad -1 < x < 1; \quad y(0) = 0$

سوال ۵.۱۱۲: $\frac{dy}{dx} = \sqrt{1 + x^4}, \quad y(0) = 1$

سوال ۵.۱۱۳: $\frac{dy}{dx} = \frac{1}{x^2+1} - 1, \quad y(0) = 1$

سوال ۵.۱۱۴: $\frac{dy}{dx} = \frac{x}{x^2+1}, \quad y(0) = 0$

عملی استعمال

سوال ۵.۱۱۵: چاند پر ثقلی اسراع $1.6\,\mathrm{m\,s^{-2}}$ ہے۔ ایک پتھر کو چاند پر گہرے شگاف میں گرایا جاتا ہے۔ اس کی رفتار اس لمحہ پر کیا ہو گی جب یہ 30 سیکنڈ بعد شگاف کی تہہ تک پہنچتا ہے؟

سوال ۵.۱۱۶: ایک راکٹ سطح زمین سے سیدھا اوپر رخ $20\,\mathrm{m\,s^{-2}}$ کی اسراع سے اڑتا ہے۔ ایک منٹ بعد اس کی رفتار کیا ہو گی؟

سوال ۵.۱۱۷: $10\,\mathrm{m}$ بلندی سے پانی میں کودا جاتا ہے۔ پانی میں داخل ہوتے ہوئے لمحے پر آپ کی رفتار کیا ہو گی؟ $g = 9.8\,\mathrm{m\,s^{-2}}$ لیں۔

سوال ۵.۱۱۸: مریخ پر سطح کے نزدیک ثقلی اسراع $3.72\,\mathrm{m\,s^{-2}}$ ہے۔ ایک راکٹ جس کو مریخ کی سطح سے $93\,\mathrm{m\,s^{-1}}$ کی ابتدائی رفتار سے سیدھا اوپر پھینکا جائے کس بلندی تک پہنچے گا؟

سوال ۵.۱۱۹: آپ اسلام آباد تالا ہور موٹروے پر $100\,\mathrm{km\,h^{-1}}$ کی رفتار سے صفر کر رہے ہیں جب آپ کو سامنے ایک حادثہ نظر آتا ہے۔ آپ یکدم گاڑی کو روکنے کی کوشش کرتے ہیں۔ گاڑی $75\,\mathrm{m}$ میں مکمل رک جاتی ہے۔ رکنے کی اسراع تلاش کریں۔ اس کا جواب حاصل کرنے کی خاطر درج ذیل کرنا ہو گا۔

پہلا قدم: درج ذیل ابتدائی قیمت مسئلہ حل کریں۔

$$\frac{\mathrm{d}^2 s}{\mathrm{d}t^2} = -k \qquad \text{مستقل } k$$

$$\frac{\mathrm{d}s}{\mathrm{d}t}(0) = 100, \quad s(0) = 0 \qquad \text{ابتدائی معلومات}$$

دوسرا قدم: t کی وہ قیمت تلاش کریں جس پر $\frac{\mathrm{d}s}{\mathrm{d}t} = 0$ حاصل ہو گا۔ (آپ کے جواب میں k پایا جائے گا۔)

تیسرا قدم: k کی وہ قیمت تلاش کریں جس پر $s = 75$ حاصل ہوتا ہے۔

سوال ۵.۱۲۰: موٹر سائکل پر باحفاظت صفر کے لئے لازمی ہے کہ آپ $50\,\mathrm{km\,h^{-1}}$ کی رفتار سے $14\,\mathrm{m}$ میں رک سکیں۔ ایسا کرنے کے لئے کتنی اسراع درکار ہو گی؟

سوال ۵.۱۲۱: ایک ذرہ محوری لکیر پر $\frac{\mathrm{d}^2 s}{\mathrm{d}t^2} = 15\sqrt{t} - \frac{3}{\sqrt{t}}$ اسراع سے حرکت کرتا ہے۔ لمحہ $t = 1$ پر $s = 0$ اور $\frac{\mathrm{d}s}{\mathrm{d}t} = 4$ ہیں۔ لمحہ t پر $v = \frac{\mathrm{d}s}{\mathrm{d}t}$ اور s تلاش کریں۔

سوال ۵.۱۲۲: چاند پر اپالو 15 پرواز کے داؤد سکاٹ نے پر اور ہتھوڑے کو تقریباً $1.25\,\mathrm{m}$ بلندی سے ایک ساتھ گرنے دیا۔ چاند پر ہوا کی غیر موجودگی کی وجہ سے دونوں کے گرنے کی رفتار یکساں تھی۔ بتائیں گرنے کا دورانیہ کتنا تھا؟ گرنے کا دورانیہ دریافت کرنے کے لئے درج ذیل ابتدائی قیمت مسئلہ حل کرتے ہوئے تفاعل s تلاش کریں جس کا آزاد متغیر t ہو۔ اس کے بعد t کی وہ قیمت تلاش کریں جو $s = 0$ دے۔

$$\frac{\mathrm{d}^2 s}{\mathrm{d}t^2} = -1.6\,\mathrm{m\,s^{-2}} \qquad \text{تفرقی مساوات}$$

$$\frac{\mathrm{d}s}{\mathrm{d}t}(0) = 0, \; s(0) = 1.25 \qquad \text{ابتدائی معلومات}$$

سوال ۵.۱۲۳: محددی لکیر پر مستقل اسراع a سے حرکت کرتے ہوئے جسم کے مقام s کی معیاری مساوات درج ذیل ہے

$$s = \frac{1}{2}at^2 + v_0 t + s_0 \tag{۱}$$

جہاں لمحہ $t = 0$ پر جسم کی رفتار v_0 اور مقام s_0 ہیں۔ درج ذیل ابتدائی قیمت مسئلہ حل کرتے ہوئے اس مساوات کو اخذ کریں۔

$$\frac{\mathrm{d}^2 s}{\mathrm{d}t^2} = a \qquad \text{تفرقی مساوات}$$

$$\frac{\mathrm{d}s}{\mathrm{d}t}(0) = v_0,\ s(0) = s_0 \qquad \text{ابتدائی معلومات}$$

سوال ۵.۱۲۴: سیارہ کی سطح کے نزدیک آزادی کے ساتھ گرتے ہوئے جسم کا مقام درج ذیل مساوات دیتی ہے

$$s = -\frac{1}{2}gt^2 + v_0 t + s_0 \tag{۲}$$

جہاں ثقلی اسراع a ، سطح سیارہ سے جسم کی ابتدائی بلندی s_0 اور جسم کی ابتدائی رفتار v_0 ہے۔ چونکہ اسراع نیچے رخ (بلندی s کے الٹ) ہے لہٰذا مساوات میں منفی کی علامت پائی جاتی ہے۔ اگر لمحہ $t = 0$ پر جسم کی رفتار اوپر رخ ہو تب v_0 مثبت ہوگا اور اگر اس کا رخ نیچے کو ہو تب v_0 منفی ہوگا۔

مساوات ۱ استعمال کیے بغیر آپ مساوات ۲ ایک ابتدائی قیمت مسئلہ حل کرتے ہوئے حاصل کر سکتے ہیں۔ یہ ابتدائی قیمت مسئلہ کیا ہوگا؟ اس مسئلے کو حل کرتے ہوئے مساوات ۲ کو حاصل کریں۔

نظریہ اور مثالیں

سوال ۵.۱۲۵: رفتار کی الٹ تفرق سے ہٹاؤ کا تعین۔

ا. فرض کریں محور s پر ایک جسم کی رفتار $\frac{\mathrm{d}s}{\mathrm{d}t} = v = 9.8t - 3$ ہے۔

۱. اگر $t = 0$ پر $s = 5$ ہو تب $t = 1$ تا $t = 3$ جسم کا ہٹاؤ تلاش کریں۔

۲. اگر $t = 0$ پر $s = -2$ ہو تب $t = 1$ تا $t = 3$ جسم کا ہٹاؤ تلاش کریں۔

۳. اگر $t = 0$ پر $s = s_0$ ہو تب $t = 1$ تا $t = 3$ جسم کا ہٹاؤ تلاش کریں۔

ب. فرض کریں محددی لکیر پر ایک جسم کا مقام s متغیر t کا قابل تفرق تفاعل ہے۔ کیا یہ درست ہے کہ $\frac{\mathrm{d}s}{\mathrm{d}t}$ کا الٹ تفرق جانتے ہوئے دورانیہ $t = a$ تا $t = b$ کے لئے آپ جسم کا ہٹاؤ جان سکتے ہیں اگرچہ ان دونوں لمحات پر آپ کو جسم کا ہٹاؤ معلوم نہیں ہے؟ اپنے جواب کی وجہ پیش کریں۔

سوال ۵.۱۲۶: یکتائی حل

اگر قابل تفرق تفاعل $y = F(x)$ اور $y = G(x)$ وقفہ I پر درج ذیل ابتدائی قیمت مسئلے کے حل ہوں تب کیا I میں ہر x کے لئے $F(x) = G(x)$ ہوگا؟ اپنے جواب کی وجہ پیش کریں۔

۵.۳ تکمل بذریعہ ترکیب بدل۔ زنجیری قاعدہ کا الٹ اطلاق

بعض اوقات متکمل میں متغیرات کی تبدیلی سے جانا پہچانا تکمل حاصل ہوتا ہے۔ تکمل کے اس طریقہ کو ترکیب بدل کہتے ہیں۔ تکمل کے حصول کا یہ ایک اہم ترین طریقہ ہے۔ آئیں اس ترکیب کو سمجھتے ہیں۔

عمومی طاقتی قاعدہ کی تکملی صورت

جب u متغیر x کا قابل تفرق تفاعل ہو اور n ناطق عدد ہو جس کی قیمت -1 نہ ہو تب زنجیری قاعدہ کے تحت درج ذیل ہو گا۔

$$\frac{\mathrm{d}}{\mathrm{d}x}\left(\frac{u^{n+1}}{n+1}\right) = u^n \frac{\mathrm{d}u}{\mathrm{d}x}$$

اس مساوات کو ایک دوسری نقطہ نظر سے دیکھتے ہوئے ہم کہہ سکتے ہیں کہ تفاعل $u^n \frac{\mathrm{d}u}{\mathrm{d}x}$ کا ایک الٹ تفرق $\frac{u^{n+1}}{n+1}$ ہے لہٰذا درج ذیل لکھا جا سکتا ہے۔

$$\int \left(u^n \frac{\mathrm{d}u}{\mathrm{d}x}\right) \mathrm{d}x = \frac{u^{n+1}}{n+1} + \mathrm{C}$$

اس مساوات کے بائیں ہاتھ کو عموماً درج ذیل سادہ تفرقی روپ میں لکھا جاتا ہے

$$\int u^n \, \mathrm{d}u$$

جہاں دونوں $\mathrm{d}x$ کو آپس میں کاٹا گیا ہے۔ درج بالا دو مساوات کو ملا کر درج ذیل ملتا ہے

$$\int u^n \, \mathrm{d}u = \frac{u^{n+1}}{n+1} + \mathrm{C}, \qquad (n \neq -1,\ \text{ناطق } n) \tag{۱}$$

جہاں u قابل تفرق تفاعل ہے اور $\mathrm{d}u$ اس کا تفرق ہے۔

مساوات ۱ حاصل کرتے ہوئے ہم فرض کرتے ہیں کہ u متغیر x کا قابل تفرق تفاعل ہے، اگرچہ یہ متغیر اس کلیہ میں نہیں پایا جاتا ہے اور اس کی علامت اہم نہیں ہے۔ ہم اس متغیر کو کسی بھی علامت مثلاً θ ، t ، y وغیرہ سے ظاہر کر سکتے تھے۔ مساوات ۱ کہتی ہے کہ جب بھی ہم کسی تکمل کو درج ذیل روپ میں لکھ سکیں

$$\int u^n \, \mathrm{d}u, \qquad (n \neq -1)$$

جہاں u قابل تفرق تفاعل ہو اور $\mathrm{d}u$ اس کا تفرق ہو تب اس کا حل $\frac{u^{n+1}}{n+1} + \mathrm{C}$ ہو گا۔

مثال ۵.۱۲: درج ذیل تکمل حل کریں۔

$$\int (x+2)^5 \, \mathrm{d}x$$

۶۶۵۹ حل: ہم اس تکمل کو درج ذیل روپ میں لکھتے ہیں۔

$$\int u^n \, \mathrm{d}u$$

۶۶۶۰ ایسا کرنے کی خاطر ہم $u = x + 2$ لیتے ہیں لہٰذا $\mathrm{d}u = \mathrm{d}x$ ہو گا۔ یوں درج ذیل حاصل ہو گا۔

$$\begin{aligned}
\int (x+2)^5 \, \mathrm{d}x &= \int u^5 \, \mathrm{d}u && u = x+2,\ \mathrm{d}u = \mathrm{d}x \\
&= \frac{u^6}{6} + C && \text{مساوات ا میں } n = 5 \\
&= \frac{(x+2)^6}{6} + C && \text{واپس } u = x+2 \text{ پر کریں}
\end{aligned}$$

۶۶۶۱ □

۶۶۶۲ مثال ۵.۱۳: $u = x^2 + 2x - 3$ لیتے ہوئے $\mathrm{d}u = 2x \, \mathrm{d}x + 2 \, \mathrm{d} = 2(x+1) \, \mathrm{d}x$ اور $\frac{1}{2} \, \mathrm{d}u = (x + 1) \, \mathrm{d}x$ ہو گا۔ یوں تکمل

۶۶۶۳

$$\int (x^2 + 2x - 3)^2 (x+1) \, \mathrm{d}x$$

۶۶۶۴ کو ترکیب بدل سے حل کیا جا سکتا ہے:

$$\begin{aligned}
\int (x^2 + 2x - 3)^2 (x+1) \, \mathrm{d}x &= \int u^2 \cdot \frac{1}{2} \, \mathrm{d}u \\
&= \frac{1}{2} \int u^2 \, \mathrm{d}u \\
&= \frac{1}{2} \frac{u^3}{3} + C = \frac{1}{6} u^3 + C && u \text{ کے لحاظ سے تکمل} \\
&= \frac{1}{6} (x^2 + 2x - 3) + C && u \text{ بدلیں}
\end{aligned}$$

۶۶۶۵ آخری قدم پر u کی قیمت واپس پر کی گئی ہے۔ □

۶۶۶۶ مثال ۵.۱۴:

$$\begin{aligned}
\int \sin^4 t \cos t \, \mathrm{d}t &= \int u^4 \, \mathrm{d}u && u = \sin t,\ \mathrm{d}u = \cos t \, \mathrm{d}t \\
&= \frac{u^5}{5} + C && u \text{ کے لحاظ سے تکمل} \\
&= \frac{\sin^5 t}{5} + C && u \text{ بدلیں}
\end{aligned}$$

۶۶۶۷ □

۶۶۶۸ ترکیب بدل کی کامیابی اس بات پر منحصر ہے کہ ہم ایسا بدل تلاش کر سکیں جو مشکل تکمل کو جانے پہچانے تکمل میں تبدیل کرتا ہو۔ بعض اوقات پہلے بدل کے بعد
۶۶۶۹ دوسرا اور تیسرا بدل بھی درکار ہوتا ہے (سوال ۵.۱۷۳ اور سوال ۵.۱۷۴ کرنے کے بعد آپ کو اس بات کی سمجھ آئے گی) یا ہم کوئی دوسرا بدل استعمال کرنے کی
۶۶۷۰ کوشش کر سکتے ہیں۔ بعض اوقات کئی مختلف بدل قابل استعمال ہوں گے (اگلا مثال دیکھیں)۔

۶۶۷۱ مثال ۵.۱۵: درج ذیل تکمل حل کریں۔

$$\int \frac{2z\,\mathrm{d}z}{\sqrt[3]{z^2+1}}$$

۶۶۷۲ حل: ہم متکمل کے مشکل ترین حصے کی سادہ صورت تلاش کرنے کی غرض سے $u = z^2 + 1$ لیتے ہیں۔

$$\begin{aligned}
\int \frac{2z\,\mathrm{d}z}{\sqrt[3]{z^2+1}} &= \int \frac{\mathrm{d}u}{u^{1/3}} && u = z^2+1,\ \mathrm{d}u = 2z\,\mathrm{d}z \\
&= \int u^{-1/3}\,\mathrm{d}u \\
&= \frac{u^{2/3}}{2/3} + C && u \text{ کے لحاظ سے تکمل} \\
&= \frac{3}{2}u^{2/3} + C \\
&= \frac{3}{2}(z^2+1)^{3/2} + C && u \text{ کا بدل } z^2+1 \text{ پر کریں}
\end{aligned}$$

۶۶۷۳ □

۶۶۷۴ مثال ۵.۱۶:

$$\begin{aligned}
\int \sqrt{1+y^2}\cdot 2y\,\mathrm{d}y &= \int u^{1/2}\,\mathrm{d}u && u = 1+y^2,\ \mathrm{d}u = 2y\,\mathrm{d}y \\
&= \frac{u^{3/2}}{3/2} + C && u \text{ کے لحاظ سے تکمل} \\
&= \frac{2}{3}(1+y^2)^{3/2} + C && u \text{ کی جگہ } 1+y^2 \text{ پر کریں}
\end{aligned}$$

۶۶۷۵ □

۶۶۷۶ مثال ۵.۱۷:

$$\begin{aligned}
\int \sqrt{4t-1}\,\mathrm{d}t &= \int u^{1/2}\cdot\frac{1}{4}\,\mathrm{d}u && u=4t-1,\ \mathrm{d}u=4\,\mathrm{d}t,\ \frac{1}{4}\,\mathrm{d}u=\mathrm{d}t\\
&= \frac{1}{4}\int u^{1/2}\,\mathrm{d}u\\
&= \frac{1}{4}\cdot\frac{u^{3/2}}{3/2}+C && u \text{ کے لحاظ سے تکمل}\\
&= \frac{1}{6}u^{3/2}+C\\
&= \frac{1}{6}(4t-1)^{3/2}+C && u \text{ کی جگہ } 4t-1 \text{ پر کریں}
\end{aligned}$$

۶۶۷۷ □

۶۶۷۸ **تکونیاتی تفاعل**

۶۶۷۹ اگر u متغیر x کا قابل تفرق تفاعل ہو تب $\sin u$ بھی x کا قابل تفرق تفاعل ہو گا۔ زنجیری قاعدہ ہمیں $\sin u$ کا تفرق دیتا ہے:

$$\frac{\mathrm{d}}{\mathrm{d}x}\sin u=\cos u\frac{\mathrm{d}u}{\mathrm{d}x}$$

۶۶۸۰ اسی مساوات کو دوسرے نقطہ نظر سے دیکھتے ہوئے ہم کہہ سکتے ہیں کہ $\sin u$ مضرب $\cos u\cdot\frac{\mathrm{d}u}{\mathrm{d}x}$ کا الٹ تفرق ہے۔ یوں درج ذیل لکھا جا سکتا ہے۔

$$\int\left(\cos u\frac{\mathrm{d}u}{\mathrm{d}x}\right)\mathrm{d}x=\sin u+C$$

۶۶۸۱ بائیں ہاتھ دونوں $\mathrm{d}x$ کو باضابطہ کاٹ کر درج ذیل قاعدہ حاصل ہوتا ہے۔

$$\int\cos u\,\mathrm{d}u=\sin u+C \tag{۲}$$

۶۶۸۲ مساوات ۲ کہتی ہے کہ جب بھی ہم کسی تکمل کو $\int\cos u\,\mathrm{d}u$ روپ میں لکھ سکیں، ہم u کے لحاظ سے اس کا تکمل لیتے ہوئے $\sin u+C$ حاصل
۶۶۸۳ کریں گے۔

۶۶۸۴ مثال ۵.۱۸:

$$\begin{aligned}
\int\cos(7\theta+5)\,\mathrm{d}\theta &= \int\cos u\cdot\frac{1}{7}\,\mathrm{d}u && u=7\theta+5,\mathrm{d}u=7\,\mathrm{d}\theta,\frac{1}{7}\,\mathrm{d}u=\mathrm{d}\theta\\
&= \frac{1}{7}\int\cos u\,\mathrm{d}u\\
&= \frac{1}{7}\sin u+C && u \text{ کے لحاظ سے تکمل}\\
&= \frac{1}{7}\sin(7\theta+5)+C && u \text{ کی جگہ } 7\theta+5 \text{ پر کریں}
\end{aligned}$$

۶۲۸۵ □

۶۲۸۶ مساوات ۲ کی جوڑی مساوات درج ذیل ہے جہاں u قابل تفرق تفاعل ہے۔

$$\int \sin u \, \mathrm{d}u = -\cos u + C \tag{۳}$$

۶۲۸۷ مثال ۵.۱۹:

$$\begin{aligned}
\int x^2 \sin(x^3) \, \mathrm{d}x &= \int \sin(x^3) \cdot x^2 \, \mathrm{d}x \\
&= \int \sin u \cdot \frac{1}{3} \, \mathrm{d}u \qquad u = x^3, \mathrm{d}u = 3x^2 \, \mathrm{d}x, \frac{1}{3} \, \mathrm{d}u = x^2 \, \mathrm{d}x \\
&= \frac{1}{3} \int \sin u \, \mathrm{d}u \\
&= \frac{1}{3}(-\cos u + C') \qquad u \text{ کے لحاظ سے تکمل} \\
&= -\frac{1}{3} \cos(x^3) + C \qquad u = x^3 \text{ اور } \frac{C'}{3} = C \text{ پر کریں}
\end{aligned}$$

۶۲۸۸ □

۶۲۸۹ قابل تفرق تفاعل u کے لئے زنجیری قاعدہ کی مدد سے درج ذیل کلیات اخذ کیے جا سکتے ہیں۔

$$\int \sec^2 u \, \mathrm{d}u = \tan u + C \tag{۴}$$

$$\int \csc^2 u \, \mathrm{d}u = -\cot u + C \tag{۵}$$

$$\int \sec u \tan u \, \mathrm{d}u = \sec u + C \tag{۶}$$

$$\int \csc u \cot u \, \mathrm{d}u = -\csc u + C \tag{۷}$$

۶۲۹۰ ہر کلیہ میں u حقیقی متغیر کا قابل تفرق تفاعل ہے۔ کلیہ کو پرکھنے کے لئے دائیں ہاتھ کا u کے لحاظ تفرق حاصل کریں۔ ایسا کرنے سے بائیں ہاتھ کا متکمل
۶۲۹۱ حاصل ہو گا۔

۶۶۹۲ مثال ۵.۲۰:

$$\begin{aligned}
\frac{1}{\cos^2 2\theta}\,\mathrm{d}\theta &= \int \sec^2 2\theta\,\mathrm{d}\theta && \sec 2\theta = \frac{1}{\cos 2\theta} \\
&= \int \sec^2 u \cdot \frac{1}{2}\,\mathrm{d}u && u = 2\theta, \mathrm{d}\theta = \frac{1}{2}\,\mathrm{d}u \\
&= \frac{1}{2}\int \sec^2 u\,\mathrm{d}u \\
&= \frac{1}{2}\tan u + C && \text{مساوات ۴} \\
&= \frac{1}{2}\tan 2\theta + C && u \text{ کی جگہ } 2\theta \text{ پر کریں}
\end{aligned}$$

۶۶۹۳ □

۶۶۹۴ تکمل کا ترکیب بدل

۶۶۹۵ مذکورہ بالا تمام مثالیں درج ذیل عمومی کلیہ کی انفرادی مثالیں ہیں۔

$$\begin{aligned}
\int f(g(x)) \cdot g'(x)\,\mathrm{d}x &= \int f(u)\,\mathrm{d}u && u = g(x),\ \mathrm{d}u = g'(x)\,\mathrm{d}x \\
&= F(u) + C && F(u) \text{ کا الٹ تفرق } f(u) \\
&= F(g(x)) + C && u \text{ کی جگہ } g(x) \text{ پر کریں}
\end{aligned}$$

۶۶۹۶ یہ تین اقدام تکمل کا ترکیب بدل ہیں۔ یہ ترکیب اس لئے کام کرتی ہے کہ $f(g(x)) \cdot g'(x)$ کا الٹ تفرق $F(g(x))$ ہے جہاں f کا الٹ
۶۶۹۷ تفرق F ہے:

$$\begin{aligned}
\frac{\mathrm{d}}{\mathrm{d}x}F(g(x)) &= F'(g(x)) \cdot g'(x) && \text{زنجیری قاعدہ} \\
&= f(g(x)) \cdot g'(x) && \text{چونکہ } F' = f \text{ ہے}
\end{aligned}$$

۶۶۹۸ ترکیب بدل اس مفروضہ پر مبنی ہے کہ ہم x کی جگہ u کا تفاعل لیتے ہیں۔ یوں بدل $u = g(x)$ کا حل ہونا لازم ہے تاکہ اس کو x کے لئے حل
۶۶۹۹ کرتے ہوئے x کی قیمت $x = g^{-1}(u)$ (g کا الٹ u) حاصل کی جا سکے۔ بعض اوقات ہمیں x اور u کے دائرہ کار پر پابندی عائد کرنی ہو گی
۶۷۰۰ تاکہ ایسا کرنا ممکن ہو۔ آپ کو یہاں اس سے غرض نہیں ہونا چاہیے۔ ہم الٹ تفاعل پر حصہ ۱.۷ میں بحث کریں گے اور بدل کی ترکیب پر زیادہ تفصیل سے حصہ
۶۷۰۱ ۸.۴ اور حصہ ۱۴.۷ میں غور کریں گے۔

۶۷۰۲ سوالات

۶۷۰۳ سوال ۵.۱۲۷ تا سوال ۵.۱۳۸ میں دیا گیا بدل استعمال کرتے ہوئے غیر قطعی تکمل کو معیاری روپ میں لاتے ہوئے حل کریں۔

۶۷۰۴ سوال ۵.۱۲۷: $\int \sin 3x \, \mathrm{d}x, \quad u = 3x$

۶۷۰۵

۶۷۰۶ سوال ۵.۱۲۸: $\int x \sin(2x^2) \, \mathrm{d}x, \quad u = 2x^2$

۶۷۰۷ سوال ۵.۱۲۹: $\int \sec 2t \tan 2t \, \mathrm{d}t, \quad u = 2t$

۶۷۰۸

۶۷۰۹ سوال ۵.۱۳۰: $\int (1 - \cos \frac{t}{2})^2 \sin \frac{t}{2} \, \mathrm{d}t, \quad u = 1 - \cos \frac{t}{2}$

۶۷۱۰ سوال ۵.۱۳۱: $\int 28(7x - 2)^{-5} \, \mathrm{d}x, \quad u = 7x - 2$

۶۷۱۱

۶۷۱۲ سوال ۵.۱۳۲: $\int x^3 (x^4 - 1)^2 \, \mathrm{d}x, \quad u = x^4 - 1$

۶۷۱۳ سوال ۵.۱۳۳: $\int \frac{9r^2}{\sqrt{1-r^3}} \, \mathrm{d}r, \quad u = 1 - r^3$

۶۷۱۴

۶۷۱۵ سوال ۵.۱۳۴: $\int 12(y^4 + 4y^2 + 1)^2 (y^3 + 2y) \, \mathrm{d}y, \quad u = y^4 + 4y^2 + 1$

۶۷۱۶ سوال ۵.۱۳۵: $\int \sqrt{x} \sin^2(x^{3/2} - 1) \, \mathrm{d}x, \quad u = x^{3/2} - 1$

۶۷۱۷

۶۷۱۸ سوال ۵.۱۳۶: $\int \frac{1}{x^2} \cos^2(\frac{1}{x}) \, \mathrm{d}x, \quad u = -\frac{1}{x}$

۶۷۱۹ سوال ۵.۱۳۷: $\int \csc^2 2\theta \cot 2\theta \, \mathrm{d}\theta, \quad u = \cot 2\theta, \quad u = \csc 2\theta$

۶۷۲۰

۶۷۲۱ سوال ۵.۱۳۸: $\int \frac{\mathrm{d}x}{\sqrt{5x+8}}, \quad u = 5x + 8, \quad u = \sqrt{5x + 8}$

۶۷۲۲ سوال ۵.۱۳۹ تا سوال ۵.۱۷۲ میں تکمل حل کریں۔

۶۷۲۳ سوال ۵.۱۳۹: $\int \sqrt{3 - 2s} \, \mathrm{d}s$

۶۷۲۴

۶۷۲۵ سوال ۵.۱۴۰: $\int (2x + 1)^3 \, \mathrm{d}x$

۶۷۲۶ سوال ۵.۱۴۱: $\int \frac{1}{\sqrt{5s+4}} \, \mathrm{d}s$

۶۷۲۷

۶۷۲۸ سوال ۵.۱۴۲: $\int \frac{3 \, \mathrm{d}x}{(2-x)^2}$

۶۷۲۹ سوال ۵.۱۴۳: $\int \theta \sqrt[4]{1 - \theta^2} \, \mathrm{d}\theta$

۶۷۳۰

۶۷۳۱ سوال ۵.۱۴۴: $\int 8\theta \sqrt[3]{\theta^2 - 1} \, \mathrm{d}\theta$

۶۷۳۲ سوال ۵.۱۴۵: $\int 3y \sqrt{7 - 3y^2} \, \mathrm{d}y$

۶۷۳۳

۶۷۳۴ سوال ۵.۱۴۶: $\int \frac{4y\,\mathrm{d}y}{\sqrt{2y^2+1}}$

۶۷۳۵ سوال ۵.۱۴۷: $\int \frac{1}{\sqrt{x}(1+\sqrt{x})^2}\,\mathrm{d}x$

۶۷۳۶

۶۷۳۷ سوال ۵.۱۴۸: $\int \frac{(1+\sqrt{x})^3}{\sqrt{x}}\,\mathrm{d}x$

۶۷۳۸ سوال ۵.۱۴۹: $\int \cos(3z+4)\,\mathrm{d}z$

۶۷۳۹

۶۷۴۰ سوال ۵.۱۵۰: $\int \sin(8z-5)\,\mathrm{d}z$

۶۷۴۱ سوال ۵.۱۵۱: $\int \sec^2(3x+2)\,\mathrm{d}x$

۶۷۴۲

۶۷۴۳ سوال ۵.۱۵۲: $\int \tan^2 x \sec^2 x\,\mathrm{d}x$

۶۷۴۴ سوال ۵.۱۵۳: $\int \sin^5 \frac{x}{3} \cos \frac{x}{3}\,\mathrm{d}x$

۶۷۴۵

۶۷۴۶ سوال ۵.۱۵۴: $\int \tan^7 \frac{x}{2} \sec^2 \frac{x}{2}\,\mathrm{d}x$

۶۷۴۷ سوال ۵.۱۵۵: $\int r^2(\frac{r^3}{18}-1)^5\,\mathrm{d}r$

۶۷۴۸

۶۷۴۹ سوال ۵.۱۵۶: $\int r^4(7-\frac{r^5}{10})^3\,\mathrm{d}r$

۶۷۵۰ سوال ۵.۱۵۷: $\int x^{1/2}\sin(x^{3/2}+1)\,\mathrm{d}x$

۶۷۵۱

۶۷۵۲ سوال ۵.۱۵۸: $\int x^{1/3}\sin(x^{4/3}-8)\,\mathrm{d}x$

۶۷۵۳ سوال ۵.۱۵۹: $\int \sec(v+\frac{\pi}{2})\tan(v+\frac{\pi}{2})\,\mathrm{d}v$

۶۷۵۴

۶۷۵۵ سوال ۵.۱۶۰: $\int \csc(\frac{v-\pi}{2})\cot(\frac{v-\pi}{2})\,\mathrm{d}v$

۶۷۵۶ سوال ۵.۱۶۱: $\int \frac{\sin(2t+1)}{\cos^2(2t+1)}\,\mathrm{d}t$

۶۷۵۷

۶۷۵۸ سوال ۵.۱۶۲: $\int \frac{6\cos t}{(2+\sin t)^3}\,\mathrm{d}t$

۶۷۵۹ سوال ۵.۱۶۳: $\int \sqrt{\cot y}\csc^2 y\,\mathrm{d}y$

۶۷۶۰

۶۷۶۱ سوال ۵.۱۶۴: $\int \frac{\sec z \tan z}{\sqrt{\sec z}}\,\mathrm{d}z$

سوال ۵.۱۶۵: $\int \frac{1}{t^2} \cos(\frac{1}{t} - 1)\, \mathrm{d}t$

سوال ۵.۱۶۶: $\int \frac{1}{\sqrt{t}} \cos(\sqrt{t} + 3)\, \mathrm{d}t$

سوال ۵.۱۶۷: $\int \frac{1}{\theta^2} \sin \frac{1}{\theta} \cos \frac{1}{\theta}\, \mathrm{d}\theta$

سوال ۵.۱۶۸: $\int \frac{\cos \sqrt{\theta}}{\sqrt{\theta} \sin^2 \sqrt{\theta}}\, \mathrm{d}\theta$

سوال ۵.۱۶۹: $\int (s^3 + 2s^2 - 5s + 5)(3s^2 + 4s - 5)\, \mathrm{d}s$

سوال ۵.۱۷۰: $\int (\theta^4 - 2\theta^2 + 8\theta - 2)(\theta^3 - \theta + 2)\, \mathrm{d}\theta$

سوال ۵.۱۷۱: $\int t^3 (1 + t^4)^3\, \mathrm{d}t$

سوال ۵.۱۷۲: $\int \sqrt{\frac{x-1}{x^5}}\, \mathrm{d}x$

قدم باقدم تکمل کی سادہ روپ کا حصول

اگر آپ تکمل کی سادہ روپ کے لئے درکار بدل نہ جانتے ہوں تب تکمل کی سادہ روپ قدم باقدم تلاش کرنے کی کوشش کریں۔ متکمل کو دیکھ کر اندازے سے بدل منتخب کرتے ہوئے متکمل کو کچھ سادہ بنائیں۔ اگلے قدم میں اس کو مزید سادہ بنانے کی کوشش کریں۔ بدل منتخب کرنے کی صلاحیت اس طرز کے سوالات حل کرنے سے بڑھتی ہے۔ اگلے دو سوالات حل کرنے سے آپ اس طریقے کو سمجھ پائیں گے۔

سوال ۵.۱۷۳:

$$\int \frac{18 \tan^2 x \sec^2 x}{(2 + \tan^3 x)^2}\, \mathrm{d}x$$

ا. $u = \tan x$ پر کر کے $v = u^3$ اور اس کے بعد $w = 2 + v$ پر کریں۔

ب. $u = \tan^3 x$ کے بعد $v = 2 + u$ پر کریں۔

ج. $u = 2 + \tan^3 x$ پر کریں۔

سوال ۵.۱۷۴:

$$\int \sqrt{1 + \sin^2(x-1)} \sin(x-1) \cos(x-1)\, \mathrm{d}x$$

ا. $u = x - 1$ پر کرنے کے بعد $v = \sin u$ اور اس کے بعد $w = 1 + v^2$ پر کریں۔

ب. $u = \sin(x-1)$ کے بعد $v = 1 + u^2$ پر کریں۔

ج. $u = 1 + \sin^2(x-1)$ پر کریں۔

اگلے دو تکملات حل کریں۔

سوال ۵.۱۷۵: $\int \frac{(2r-1)\cos\sqrt{3(2r-1)^2+6}}{\sqrt{3(2r-1)^2+6}}\,\mathrm{d}r$

سوال ۵.۱۷۶: $\int \frac{\sin\sqrt{\theta}}{\sqrt{\theta\cos^3\sqrt{\theta}}}\,\mathrm{d}\theta$

ابتدائی قیمت مسائل

سوال ۵.۱۷۷ تا سوال ۵.۱۸۴ میں دیے گئے ابتدائی قیمت مسائل حل کریں۔

سوال ۵.۱۷۷: $\frac{\mathrm{d}s}{\mathrm{d}t} = 12t(3t^2-1)^3, \quad s(1) = 3$

سوال ۵.۱۷۸: $\frac{\mathrm{d}y}{\mathrm{d}x} = 4x(x^2+8)^{-1/3}, \quad y(0) = 0$

سوال ۵.۱۷۹: $\frac{\mathrm{d}s}{\mathrm{d}t} = 8\sin^2(t+\frac{\pi}{12}), \quad s(0) = 8$

سوال ۵.۱۸۰: $\frac{\mathrm{d}r}{\mathrm{d}\theta} = 3\cos^2(\frac{\pi}{4}-\theta), \quad r(0) = \frac{\pi}{8}$

سوال ۵.۱۸۱: $\frac{\mathrm{d}^2 s}{\mathrm{d}t^2} = -4\sin(2t-\frac{\pi}{2}), \quad s'(0) = 100,\ s(0) = 0$

سوال ۵.۱۸۲: $\frac{\mathrm{d}^2 y}{\mathrm{d}x^2} = 4\sec^2 2x\tan 2x, \quad y'(0) = 4,\ y(0) = -1$

سوال ۵.۱۸۳: ایک لکیر پر آگے پیچھے حرکت کرتے ہوئے ذرے کی رفتار تمام t کے لئے $v = \frac{\mathrm{d}s}{\mathrm{d}t} = 6\sin 2t\,\mathrm{m\,s^{-1}}$ ہے۔ اگر لمحہ $t = 0$ پر $s = 0$ ہو تب $t = \frac{\pi}{2}$ سیکنڈ پر s کیا ہو گا؟

سوال ۵.۱۸۴: ایک لکیر پر آگے پیچھے حرکت کرتے ہوئے ذرے کی اسراع تمام t کے لئے $a = \frac{\mathrm{d}^2 s}{\mathrm{d}t^2} = \pi^2\cos\pi t\,\mathrm{m\,s^{-2}}$ ہے۔ اگر لمحہ $t = 0$ پر $s = 0$ اور $v = 8\,\mathrm{m\,s^{-1}}$ ہوں تب $t = 1$ سیکنڈ پر s کیا ہو گا؟

نظریہ اور مثالیں

سوال ۵.۱۸۵: ایسا معلوم ہوتا ہے کہ ہم $2\sin x\cos x$ کا تکمل تین مختلف طریقوں سے حاصل کر سکتے ہیں۔

ا.

$$\int 2\sin x\cos x\,\mathrm{d}x = \int 2u\,\mathrm{d}u \qquad u = \sin x$$
$$= u^2 + C_1 = \sin^2 x + C_1$$

ب.

$$\int 2\sin x\cos x\,\mathrm{d}x = \int -2u\,\mathrm{d}u \qquad u = \cos x$$
$$= -u^2 + C_2 = -\cos^2 x + C_2$$

ج.

$$\int 2\sin x\cos x\,\mathrm{d}x = \int \sin 2x\,\mathrm{d}x \qquad 2\sin x\cos x = \sin 2x$$
$$= -\frac{\cos 2x}{2} + C_3$$

۶۸۰۸ کیا تینوں طریقے درست ہو سکتے ہیں؟ اپنے جواب کی وجہ پیش کریں۔

۶۸۰۹ سوال ۵.۱۸۶: $u = \tan x$ پر کرتے ہوئے درج ذیل ملتا ہے

$$\int \sec^2 x\tan x\,\mathrm{d}x = \int u\,\mathrm{d}u = \frac{u^2}{2} + C = \frac{\tan^2 x}{2} + C$$

۶۸۱۰ جبکہ $u = \sec x$ پر کرنے سے درج ذیل ملتا ہے۔

$$\int \sec^2 x\tan x\,\mathrm{d}x = \int u\,\mathrm{d}u = \frac{u^2}{2} + C = \frac{\sec^2 x}{2} + C$$

۶۸۱۱ کیا دونوں تکمل درست ہو سکتے ہیں۔ اپنے جواب کی وجہ پیش کریں۔

۶۸۱۲

۶۸۱۳

۶۸۱۴ ۵.۴ اندازہ بذریعہ متناہی مجموعہ

۶۸۱۵ اس حصہ میں ہم دیکھتے ہیں کہ کس طرح عملی سوالات ہمیں **متناہی مجموعہ**[۱۳] سے تخمین کے حصول تک لے کر جاتے ہیں۔

۶۸۱۶ رقبہ اور اخراج قلب

۶۸۱۷ فی منٹ جتنے لٹر خون آپ کا قلب خارج کرتا ہے اس کو اخراج قلب کہتے ہیں۔ سکون کی حالت میں کسی شخص کا اخراج قلب 5 یا 6 لٹر فی منٹ ہو سکتا ہے۔
۶۸۱۸ سخت ورزش کے دوران یہ شرح 30 لٹر فی منٹ ہو سکتی ہے۔ بیماری بھی اس شرح کو بہت زیادہ متاثر کر سکتی ہے۔

۶۸۱۹ اخراج قلب کی پیمائش کے لئے طبیب صفحہ ۲۷۱ پر سوال ۳.۴۱۵ میں دیا گیا طریقہ اختیار کرنے کے بجائے رقت رنگ کی ترکیب استعمال کر سکتا ہے۔ رقت
۶۸۲۰ رنگ کی ترکیب میں قلب کے قریب مرکزی داخلی رگ میں 5 mg سے 10 mg رنگ کا ٹیکہ لگایا جاتا ہے جو قلب کے دائیں حصے میں داخل ہو کر
۶۸۲۱ کلیجا سے ہوتے ہوئے قلب کے بائیں حصہ سے مرکزی شریان میں خارج کیا جاتا ہے جہاں ہر چند سیکنڈ بعد گزرتے ہوئے خون میں رنگ کی کثافت ناپی جاتی
۶۸۲۲ ہے۔ جدول ۵.۳ اور شکل ۵.۱۲ میں ایک تندرست شخص جو آرام کر رہا ہو کے نتائج دکھائے گئے ہیں جس کو 5.6 mg رنگ کا ٹیکہ لگایا گیا ہے۔ خون کی
۶۸۲۳ دوبارہ گردش کو مد نظر رکھتے ہوئے نتائج پیش کیے گئے ہیں۔

---

[۱۳] finitesum

جدول ۵.۳: رقت رنگ کے ترکیب کے نتائج۔

لمحہ	کثافت رنگ	لمحہ	کثافت رنگ
5	0.0	19	0.91
7	3.8	21	0.57
9	8.0	23	0.36
11	6.1	25	0.23
13	3.6	27	0.14
15	2.3	29	0.09
17	1.45	31	0.00

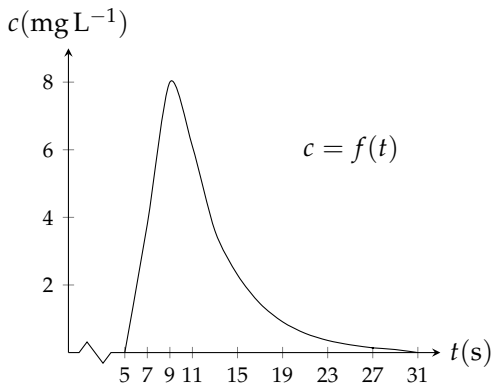

شکل ۵.۱۲: جدول میں دی گئی رنگ کی کثافت بالمقابل وقت کو ترسیم کیا گیا ہے۔

مریض کے قلب کا اخراج معلوم کرنے کی خاطر ہم رنگ کی مقدار کو شکل ۵.۱۲ میں دیے کثافت رنگ کی منحنی کے نیچے رقبے سے تقسیم کر کے 60 سے ضرب دیتے ہیں۔

$$\text{اخراج قلب} = \frac{\text{رنگ کی مقدار}}{\text{منحنی کے نیچے رقبہ}} \times 60 \qquad (۱)$$

اس مساوات میں مختلف مقداروں کی اکائیوں پر نظر ڈال کر آپ دیکھ سکتے ہیں کہ یہ مساوات درست جواب دے گی۔ رنگ کی مقدار mg میں ہے جبکہ منحنی کے نیچے رقبہ کی اکائی $\mathrm{mg\,L^{-1} \times s}$ ہو گی لہٰذا درج بالا مساوات خون کا اخراج لٹر فی منٹ میں دے گا۔

$$\frac{\mathrm{mg}}{\frac{\mathrm{mg}}{\mathrm{L}} \cdot \mathrm{s}} \cdot \frac{\text{سیکنڈ}}{\text{منٹ}} = \frac{\text{لٹر}}{\text{منٹ}}$$

درج ذیل مثال میں ہم شکل ۵.۱۲ میں دیے منحنی کے نیچے رقبہ کی تخمینی قیمت تلاش کرتے ہوئے مریض کا اخراج قلب معلوم کرتے ہیں۔

مثال ۵.۲۱: جدول ۵.۳ اور شکل ۵.۱۲ میں ایک مریض کے ترکیب رقت رنگ کے نتائج دیے گئے ہیں۔ اس کا اخراج قلب تلاش کریں۔

حل: رنگ کی مقدار 5.6 mg ہے لہٰذا ہمیں صرف منحنی کے نیچے رقبہ چاہیے۔ ہم رقبہ تلاش کرنے کا ایسا کوئی کلیہ نہیں جانتے ہیں جو اس قسم کی ناہموار منحنی کے لئے قابل استعمال ہو۔ البتہ ہم منحنی کے نیچے رقبے کو مستطیلی حصوں میں تقسیم کر کے تمام مستطیلوں کے رقبے جمع کرتے ہوئے رقبے کی تخمینی قیمت تلاش کر سکتے ہیں (شکل ۵.۱۳)۔ ہر مستطیل کا کچھ حصہ اصل رقبے سے کم رقبہ گھیرتا ہے جبکہ اس کا باقی حصہ اصل رقبے سے زیادہ رقبہ گھیرتا ہے۔ ہم نے تمام مستطیلوں کی چوڑائی 2 منتخب کی ہے۔ ایسا کرنا ضروری نہیں ہے بلکہ ہر مستطیل کی چوڑائی مختلف منتخب کی جا سکتی ہے۔ ہر مستطیل کا قد مستطیل کے چوڑائی کے دوران تفاعل کی تقریباً اوسط قیمت ہو گی۔ ہم تمام مستطیلوں کے رقبوں کا مجموعہ لیتے ہیں۔

$$\begin{aligned}
\text{منحنی کے نیچے رقبہ} &\approx f(6)\cdot 2 + f(8)\cdot 2 + f(10)\cdot 2 + \cdots + f(28)\cdot 2 + f(30)\cdot 2 \\
&\approx (1.4)(2) + (6.3)(2) + (7.5)(2) + \cdots + (0.1)(2) + (0.045)(2) \\
&\approx (28.8)(2) = 57.6\,\mathrm{mg\,s\,L^{-1}}
\end{aligned}$$

رنگ کی مقدار کو اس رقبہ سے تقسیم کرتے ہوئے 60 سے ضرب دینے سے اخراج قلب حاصل ہو گا۔

$$\text{اخراج قلب} \approx \frac{\text{رنگ کی مقدار}}{\text{رقبہ}} \times 60 = \frac{5.6}{57.6} \times 60 \approx 5.8\,\mathrm{L\,min^{-1}}$$

مریض کا اخراج قلب تقریباً $5.8\,\mathrm{L\,min^{-1}}$ ہے۔ □

طے شدہ فاصلہ

فرض کریں ہمیں ایک گاڑی کی رفتار تفاعل $v = \frac{\mathrm{d}s}{\mathrm{d}t} = f(t)\,\mathrm{m\,s^{-1}}$ معلوم ہے۔ ہم جاننا چاہتے ہیں کہ وقفہ $a \le t \le b$ یہ گاڑی کتنا فاصلہ طے کرتی ہے۔ اگر ہمیں f کا الٹ تفرق F معلوم ہو تب ہم گاڑی کا مقام تفاعل $s = F(t) + C$ تلاش کر سکتے ہیں جس کو استعمال کرتے ہوئے کسی بھی دورانیے میں طے شدہ فاصل تلاش کیا جا سکتا ہے (سوال ۵.۱۲۵)۔

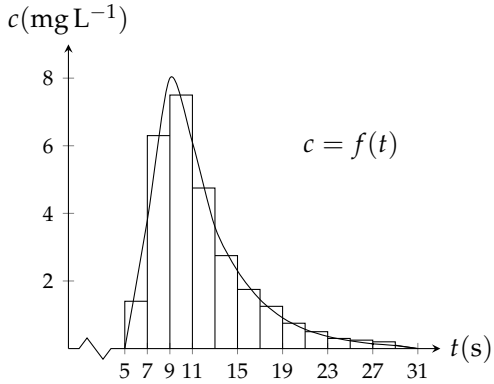

شکل ۵.۱۳: منحنی کے نیچے رقبے کو مستطیل رقبوں میں تقسیم کیا گیا ہے۔

رفتار تفاعل $v = f(t)$ کا الٹ تفرق نہ جانتے ہوئے طے شدہ فاصلے کو مجموعہ سے حاصل کیا جا سکتا ہے جس پر اب غور کرتے ہیں۔ ہم $[a, b]$ کو چھوٹے چھوٹے ذیلی وقفوں میں یوں تقسیم کرتے ہیں کہ ہر ذیلی وقفے میں رفتار کی قیمت تقریباً غیر متغیر ہو۔ ہم ہر ذیلی وقفہ کے دوران فاصلہ درج ذیل کلیہ سے اخذ کرتے ہوئے

$$\text{فاصلہ} = \text{رفتار} \times \text{وقت} = f(t) \cdot \Delta t$$

وقفہ $[a, b]$ کے تمام ذیلی وقفوں میں طے شدہ فاصلوں کا مجموعہ لیتے ہوئے کل فاصلہ دریافت کرتے ہیں۔ فرض کریں کہ اس وقفہ کو درج ذیل ذیلی وقفوں میں تقسیم کیا جاتا ہے جہاں ہر ذیلی وقفہ Δt کے برابر ہے۔

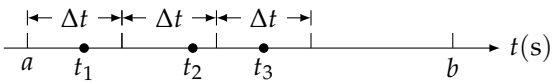

پہلے ذیلی وقفے پر t_1 ایک نقطہ ہے۔ اگر یہ ذیلی وقفہ نہایت چھوٹا ہو تب اس دوران رفتار میں تبدیلی قابل نظر انداز ہو گی۔ یوں اس دوران گاڑی تقریباً $f(t_1)\Delta t$ فاصلہ طے کرے گی۔ اگر t_2 دوسرے ذیلی وقفے میں ایک نقطہ ہو تب اس دوران گاڑی $f(t_2)\Delta t$ فاصل طے کرے گی۔ اسی طرح باقی تمام ذیلی وقفوں کے دوران طے شدہ فاصل بھی حاصل کیا جا سکتا ہے۔ یوں حاصل تمام ذیلی وقفوں کے دوران طے شدہ فاصلوں کا مجموعہ تقریباً $[a, b]$ کے دوران کل طے فاصل D ہو گا۔ اگر ہم n عدد ذیلی وقفے لیں تب درج ذیل لکھا جا سکتا ہے۔

$$D \approx f(t_1)\Delta t + f(t_2)\Delta t + \cdots + f(t_n)\Delta t \tag{۲}$$

آئیں مثال ۵.۹ کے نتائج پر اس کلیہ کو استعمال کریں۔ ایک گولا کو سیدھا اوپر رخ پھینکا گیا۔ لمحہ t پر اس کی رفتار $v = f(t) = -9.8t + 160$ تھی۔ ابتدائی 3 سیکنڈوں میں گولا 3 m کی ابتدائی بلندی سے 438.9 m کی بلندی تک پہنچا۔ یوں ابتدائی تین سیکنڈوں میں گولے نے 438.9 m فاصلہ طے کیا۔

مثال ۵.۲۲: سیدھا اوپر رخ پھینکے گئے گولے کی رفتار $v = f(t) = -9.8t + 160$ ہے۔ مجموعہ کا ترکیب استعمال کرتے ہوئے ابتدائی 3 سیکنڈوں میں طے شدہ فاصلہ کا تخمینہ لگائیں۔ بالکل ٹھیک جواب 435.9 m ہے۔

۶۸۵۶ حل: ہم ذیلی وقفوں کی مختلف تعداد اور ذیلی وقفوں میں مختلف نقطوں کی انتخاب کے لئے اس مسئلے کو حل کرتے ہیں۔

۶۸۵۷ ہم کل 3 ذیلی وقفے لیتے ہیں اور f کی قیمت ہر ذیلی وقفہ کے بائیں ہاتھ سر پر لیتے ہیں۔ یوں ایک ذیلی وقفے کی لمبائی 1 ہو گی۔

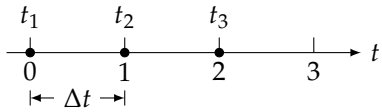

۶۸۵۸

۶۸۵۹ f کی قیمت 0 ، 1 اور 2 پر لیتے ہوئے درج ذیل حاصل ہو گا۔

$$\begin{aligned} D &\approx f(t_1)\Delta t + f(t_2)\Delta t + f(t_3)\Delta t && \text{(مساوات ۲)} \\ &\approx [160 - 9.8(0)](1) + [160 - 9.8(1)](1) + [160 - 9.8(2)](1) \\ &\approx 450.6 \end{aligned}$$

۶۸۶۰ ہم کل 3 ذیلی وقفے لیتے ہیں اور f کی قیمت ہر ذیلی وقفے کے بائیں ہاتھ سر پر لیتے ہیں۔ یوں ایک ذیلی وقفے کی لمبائی 1 ہو گی۔

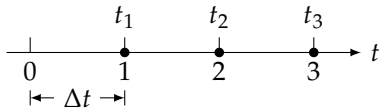

۶۸۶۱

۶۸۶۲ f کی قیمت 1 ، 2 اور 3 پر لیتے ہوئے درج ذیل حاصل ہو گا۔

$$\begin{aligned} D &\approx f(t_1)\Delta t + f(t_2)\Delta t + f(t_3)\Delta t && \text{(مساوات ۲)} \\ &\approx [160 - 9.8(1)](1) + [160 - 9.8(2)](1) + [160 - 9.8(3)](1) \\ &\approx 421.2 \end{aligned}$$

۶۸۶۳ کل 6 ذیلی وقفے لیتے ہیں اور f کی قیمت ہر ذیلی وقفے کے پہلے بائیں اور بعد میں دائیں ہاتھ سر پر لیتے ہیں۔ یوں ایک ذیلی وقفے کی لمبائی $\frac{1}{2}$ ہو گی۔ نتائج درج ذیل ہیں۔

بائیں ہاتھ سروں پر قیمتیں	$D \approx 443.25$
دائیں ہاتھ سروں پر قیمتیں	$D \approx 428.55$

۶۸۶۴ آپ دیکھ سکتے ہیں کہ 6 ذیلی وقفے لیتے ہوئے بہتر جواب حاصل ہوتے ہیں۔ مزید زیادہ ذیلی وقفے لینے سے جواب میں مزید بہتری پیدا ہوتی ہے۔ جدول ۵.۴

۶۸۶۵ میں چند نتائج دکھائے گئے ہیں۔

۶۸۶۶ جدول ۵.۴ سے ہم دیکھتے ہیں کہ بائیں سر نقطی مجموعہ اصل جواب تک اوپر سے پہنچتا ہے جبکہ دائیں سر نقطی مجموعہ اصل جواب تک نیچے سے پہنچتا ہے۔ حقیقت

۶۸۶۷ میں جواب ان دونوں کے بیچ پایا جاتا ہے۔ جدول میں دیا آخری مجموعہ اور اصل جواب میں فرق درج ذیل ہے۔

$$\text{فی صد خلل} = \frac{435.9 - 435.67}{435.9} \times 100 = 0.05\,\%$$

۶۸۶۸ □

جدول ۵.۴: ذیلی وقفوں کی تعداد بڑھانے سے زیادہ بہتر جواب حاصل ہوتا ہے (مثال ۵.۲۲)۔

ذیلی وقفوں کی تعداد	ایک ذیلی وقفہ کی لمبائی	بائیں سر نقطی مجموعہ	دائیں سر نقطی مجموعہ
3	1	450.6	421.2
6	0.5	443.25	428.55
12	0.25	439.58	432.23
24	0.125	437.74	434.06
48	0.0625	436.82	434.98
96	0.03125	436.36	435.44
192	0.015625	436.13	435.67

آپ مثال ۵.۲۱ اور مثال ۵.۲۲ میں مشابہت دیکھ سکتے ہیں۔ دونوں میں تفاعل f ایک بند وقفہ میں معین ہے جس کی وقفوں پر قیمت کو وقفہ سے ضرب دے کر تمام کا مجموعہ لیا جاتا ہے۔ ہم اسی ترکیب کو حجم کی تلاش کے لئے بھی استعمال کر سکتے ہیں۔

حجم

درج ذیل دو مثالوں میں ہم متناہی مجموعہ استعمال کرتے ہوئے حجم تلاش کرتے ہیں۔

مثال ۵.۲۳: ایک ٹھوس جسم $x = \mp 2$ ، $y = \mp\sqrt{9-x^2}$ اور $z = \mp\sqrt{9-x^2}$ سطحوں کے بیچ پایا جاتا ہیں۔ اس کے حجم کی اندازاً قیمت تلاش کریں (شکل ۵.۱۴-الف)۔

حل: ہم x محور پر وقفہ $[-2,2]$ کو چار برابر ذیلی وقفوں میں تقسیم کرتے ہیں۔ یوں ایک ذیلی وقفہ کی لمبائی $\Delta x = 1$ ہو گی۔ ہر ذیلی وقفہ کے بائیں سر نقطے پر جسم کا رقبہ عمودی تراش ایک چوکور ہو گا (شکل ۵.۱۴-ب) جہاں ذیلی وقفوں کے بائیں سر $x = -2, -1, 0, 1$ پر پائے جاتے ہیں۔ ہم ایسے ہر چوکور پر فرضی 1 موٹائی کا تختہ بناتے ہیں (شکل ۵.۱۴-ج)۔ ان تمام تختوں کے حجم کا مجموعہ اندازاً اصل جسم کے مجموعہ کے برابر ہو گا۔

ایک تختے کا حجم ہم $H = Sh$ سے اخذ کر سکتے ہیں جہاں H ، S اور h بالترتیب تختے کا حجم، رقبہ عمودی تراش اور موٹائی کو ظاہر کرتے ہیں۔ نقطہ x پر تختے کا رقبہ عمودی تراش $S(x) = (2\sqrt{9-x^2})^2 = 4(9-x^2)$ ہے جبکہ تختے کی موٹائی 1 ہے لہٰذا چار تختوں کے حجم کا مجموعہ درج ذیل ہو گا۔

$$\begin{aligned}
H_4 &= S(x_1)\Delta x + S(x_2)\Delta x + S(x_3)\Delta x + S(x_4)\Delta x \\
&= 4(9-x_1^2)(1) + 4(9-x_2^2)(1) + 4(9-x_3^2)(1) + 4(9-x_4^2)(1) \\
&= 4[(9-(-2)^2]) + (9-(-1)^2) + (9-(0)^2) + (9-(1)^2)] \\
&= 4[(9-4) + (9-1) + (9-0) + (9-1)] \\
&= 4[36-6] = 120
\end{aligned}$$

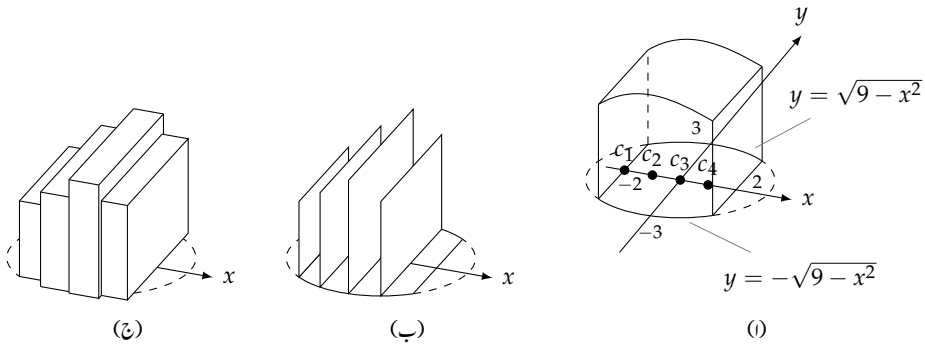

شکل ۵.۱۴: ٹھوس جسم برائے مثال ۵.۲۳

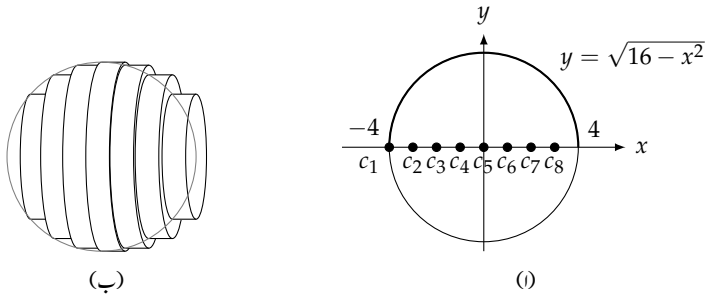

شکل ۵.۱۵: نصف دائرہ $y = \sqrt{16 - x^2}$ کو x محور کے گرد گما کر کرہ حاصل کیا جاتا ہے (مثال ۵.۲۴)۔

۶۸۸۱ یہ جواب جسم کے اصل حجم $H = \frac{368}{3} \approx 122.67$ کے بہت نزدیک ہے (سوال ۵.۴۳۱)۔ جواب میں فی صد خلل درج ذیل ہے۔

$$\text{فی صد خلل} = \frac{|H - H_4|}{H} = \frac{\left|\frac{368}{3} - 120\right|}{\frac{368}{3}} \approx 2.2\,\%$$

۶۸۸۲ وقفہ $[-2, 2]$ پر ذیلی وقفوں کی تعداد بڑھانے سے تختوں کی موٹائی کم ہو گی جبکہ حاصل حجم زیادہ درست ہو گا۔ □

۶۸۸۳ مثال ۵.۲۴: ایک کرہ کا رداس 4 ہے (شکل ۵.۱۵-ا)۔ اس کا حجم تلاش کریں۔

۶۸۸۴ حل: ہم تفاعل $f(x) = \sqrt{16 - x^2}$ کو x محور کے گرد گما کر کرہ کی سطح حاصل کر سکتے ہیں۔ ہم وقفہ $-4 \leq x \leq 4$ کو آٹھ برابر
۶۸۸۵ ذیلی وقفوں میں تقسیم کرتے ہیں۔ یوں ایک ذیلی وقفہ کی لمبائی $\Delta x = 1$ ہو گی۔ ان ذیلی وقفوں کے بائیں سر نقطے c_1 تا c_7 پر پائے جاتے ہیں (شکل
۶۸۸۶ ۵.۱۵-ا)۔ ہم ہر ذیلی وقفہ کے بائیں سر پر کرہ کے رقبہ عمودی تراش کے برابر رقبہ کا بیلن جس کی لمبائی 1 ہو لیتے ہیں (شکل ۵.۲۴-ب)۔ ان تمام بیلنوں کے
۶۸۸۷ حجم کا مجموعہ تقریباً کرہ کے حجم کے برابر ہو گا۔ ہر ایک بیلن کا حجم $H = \pi r^2 h$ ہو گا جہاں بیلن کا رداس r اور اس کی لمبائی h ہے۔ آٹھوں بیلنوں کے

۶۸۸۸ حجم کا مجموعہ درج ذیل ہو گا۔

$$\begin{aligned}
H_8 &= \pi[f(x_1)]^2\Delta x + \pi[f(x_2)]^2\Delta x + \pi[f(x_3)]^2\Delta x + \cdots + \pi[f(x_8)]^2\Delta x \\
&= \pi\left[\sqrt{16-x_1^2}\right]^2\Delta x + \pi\left[\sqrt{16-x_2^2}\right]^2\Delta x + \pi\left[\sqrt{16-x_3^2}\right]^2\Delta x + \\
&\qquad \cdots + \pi\left[\sqrt{16-x_8^2}\right]^2\Delta x \\
&= \pi[(16-(-4)^2) + (16-(-3)^2) + (16-(-2)^2) + \cdots + (16-(3)^2)] \\
&= \pi[0+7+12+15+16+15+12+7] \\
&= 84\pi
\end{aligned}$$

۶۸۸۹ کرہ کا اصل حجم درج ذیل ہے (سوال ۵.۴۳۲)۔

$$H = \frac{4}{3}\pi r^3 = \frac{4}{3}\pi(4)^3 = \frac{256\pi}{3}$$

۶۸۹۰ متناہی مجموعہ سے حاصل حجم میں فی صد خلل درج ذیل ہے۔

$$\begin{aligned}
\text{فی صد خلل} &= \frac{|H-H_8|}{H}\times 100 = \frac{\frac{256\pi}{3}-84\pi}{\frac{256\pi}{3}}\times 100 \\
&= \frac{256-252}{256} = \frac{1}{64} \approx 1.6\,\%
\end{aligned}$$

۶۸۹۱ □

۶۸۹۲ غیر منفی تفاعل کی اوسط قیمت

۶۸۹۳ متناہی تعداد قیمتوں کی اوسط حاصل کرنے کی خاطر ہم تمام قیمتوں کا مجموعہ لے کر قیمتوں کی تعداد سے تقسیم کرتے ہیں۔ اب لا متناہی تعداد کی قیمتوں کے اوسط
۶۸۹۴ سے کیا مراد ہو گا؟ مثال کے طور پر وقفہ $[-1,1]$ پر تفاعل $f(x) = x^2$ کی اوسط قیمت سے کیا مراد ہے؟ ایسے "استمراری" اوسط کا مطلب سمجھنے کی
۶۸۹۵ خاطر فرض کریں کہ ہم $x=-1$ تا $x=1$ کے بیچ بلا منصوبہ x کی مختلف قیمتوں پر تفاعل کی نمونی قیمتوں کے مربع کا اوسط حاصل کرتے ہیں۔ نمونی
۶۸۹۶ جسامت بڑھانے سے ہم توقع کرتے ہیں کہ یہ اوسط کسی مخصوص قیمت تک پہنچنے کی کوشش کرے گا۔ اس قیمت کو ہم وقفہ $[-1,1]$ پر تفاعل کا **اوسط**[۱۴]
۶۸۹۷ کہتے ہیں۔

۶۸۹۸ مثال ۵.۲۵: وقفہ $[-1,1]$ پر تفاعل $f(x) = x^2$ کی اوسط قیمت تلاش کریں۔

۶۸۹۹ حل: ہم وقفہ $[-1,1]$ کو 6 برابر ذیلی وقفوں میں تقسیم کرتے ہیں (شکل ۵.۱۶)۔ یوں ایک ذیلی وقفہ کی لمبائی $\Delta x = \frac{1}{3}$ ہو گی۔

---

[۱۴] average

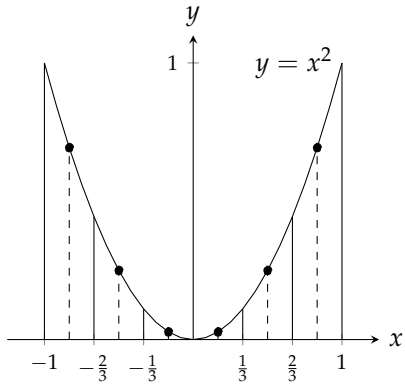

شکل ۵.۱۶: تفاعل کا اوسط (مثال ۵.۲۵)۔

۶۹۰۰ اب تک کی مثالوں میں متناہی مجموعہ حاصل کرتے ہوئے ہم ہر ذیلی وقفہ کے سر پر تفاعل کی قیمت لیتے رہے ہیں۔ اس سے بہتر نتائج اس صورت حاصل ہوتے
۶۹۰۱ ہیں جب تفاعل کی قیمت ہر ذیلی وقفہ کی وسط میں لیا جائے۔ چھ ذیلی وقفوں کی وسط میں تفاعل کی قیمتوں کے اوسط کی اندازاً قیمت تلاش کرتے ہیں۔

$$\begin{aligned}\text{اوسط قیمت} &\approx \frac{(-\frac{5}{6})^2+(-\frac{3}{6})^2+(-\frac{1}{6})^2+(\frac{1}{6})^2+(\frac{3}{6})^2+(\frac{5}{6})^2}{6}\\ &\approx \frac{1}{6}\cdot\frac{25+9+1+1+9+25}{36}=\frac{70}{216}\approx 0.324\end{aligned}$$

۶۹۰۲ اس تفاعل کا اصل اوسط $\frac{1}{3}$ ہے۔

۶۹۰۳ درج ذیل پر غور کریں۔

$$\begin{aligned}&\frac{(-\frac{5}{6})^2+(-\frac{3}{6})^2+(-\frac{1}{6})^2+(\frac{1}{6})^2+(\frac{3}{6})^2+(\frac{5}{6})^2}{6}\\ &=\frac{1}{2}\left[\left(-\frac{5}{6}\right)^2\cdot\frac{1}{3}+\left(-\frac{3}{6}\right)^2\cdot\frac{1}{3}+\cdots+\left(\frac{5}{6}\right)^2\cdot\frac{1}{3}\right]\\ &=\frac{1}{\text{لمبائی }[-1,1]}\cdot\left[f\left(-\frac{5}{6}\right)\cdot\frac{1}{3}+f\left(-\frac{3}{6}\right)\cdot\frac{1}{3}+\cdots+f\left(\frac{5}{6}\right)\cdot\frac{1}{3}\right]\\ &=\frac{1}{\text{لمبائی }[-1,1]}\cdot[\text{تفاعل کی قیمتیں ضرب ذیلی وقفہ کی لمبائی کا مجموعہ}]\end{aligned}$$

۶۹۰۴ اس بار بھی اندازاً قیمت حاصل کرنے کی خاطر تفاعل کی قیمت کو ذیلی وقفہ کی لمبائی سے ضرب دیتے ہوئے مجموعہ حاصل کیا گیا ہے۔ □

جدول ۵.۵: وقت بالمقابل کثافت رنگ برائے سوال ۵.۱۸۸۔

کثافت رنگ c	لمحہ t	کثافت رنگ c	لمحہ t
7.9	16	0	0
7.8	18	0	2
6.1	20	0.1	4
4.7	22	0.6	6
3.5	24	2.0	8
2.1	26	4.2	10
0.7	28	6.3	12
0	30	7.5	14

نتیجہ

اس حصہ میں ہم نے تفاعل کی قیمت کو ذیلی وقفوں کی لمبائی سے ضرب دے کر مجموعہ حاصل کرنے سے درکار قیمتوں کا اندازہ لگایا گیا۔

ہم نے مثال ۵.۲۲ میں دیکھا کہ ذیلی وقفوں کی لمبائی کم کرنے سے اصل جواب، جس کو ہم الٹ تفرق سے حاصل کر چکے تھے، کے زیادہ قریب نتائج حاصل ہوتے ہیں۔ کیا ذیلی وقفوں کی لمبائی کم سے کم کرنے سے حاصل نتیجہ کی تحدیدی قیمت اصل جواب تک پہنچتی؟ کیا اس مثال میں مجموعہ اور الٹ تفرق کا تعلق اتفاقی ہے؟ کیا ہم مثال ۵.۲۱ میں رقبہ، مثال ۵.۲۳ اور مثال ۵.۲۴ میں حجم اور مثال ۵.۲۵ میں اوسط قیمت کو الٹ تفرق سے حاصل کر سکتے ہیں؟ جیسا ہم دیکھیں گے، ان سوالات کے جوابات ہیں ''جی ہاں ایسا کیا جا سکتا ہے''، ''نہیں یہ اتفاق نہیں ہے'' اور ''جی ہاں ہم ایسا کر سکتے ہیں۔''

سوالات

اخراج قلب

سوال ۵.۱۸۷: ایک مریض کے اخراج قلب کو رنگ کی ترکیب سے ناپا گیا۔ پیمائش کے نتائج شکل ۵.۱۷ میں دیے گئے ہیں جہاں خون کی دوبارہ گردش کے اثرات کو مد نظر رکھا گیا ہے۔ ٹیکہ میں رنگ کی مقدار 5 mg تھی۔ کثافت رنگ کی منحنی کے نیچے رقبہ کو مستطیلوں کے رقبوں کا مجموعہ لے کر حاصل کریں۔ اخراج قلب کتنا ہے؟ (مثال ۵.۲۱ دیکھیں۔)

سوال ۵.۱۸۸: ایک مریض کا اخراج قلب جاننے کی خاطر ترکیب رنگ استعمال کیا جاتا ہے۔ کی گئی پیمائش کو جدول ۵.۵ میں پیش کیا گیا ہے جہاں خون کی دوبارہ گردش کے اثرات کو مد نظر رکھا گیا ہے۔ ٹیکہ میں رنگ کی مقدار 10 mg ہے۔ پیمائش کو ہموار منحنی سے ترسیم کریں۔ رقبے کا اندازہ مستطیلوں کے رقبوں کا مجموعہ لے کر تلاش کریں۔ اخراج قلب دریافت کریں۔

فاصلہ

سوال ۵.۱۸۹: ایک ریل گاڑی کی رفتار بالمقابل وقت شکل ۵.۱۸-ا میں دی گئی ہے۔ دس سیکنڈ وقفے کو 10 برابر ذیلی وقفوں میں تقسیم کرتے ہوئے ہر ذیلی وقفہ کے (ا) بائیں سر، (ب) دائیں سر پر قیمتیں لیتے ہوئے طے فاصل تلاش کریں۔

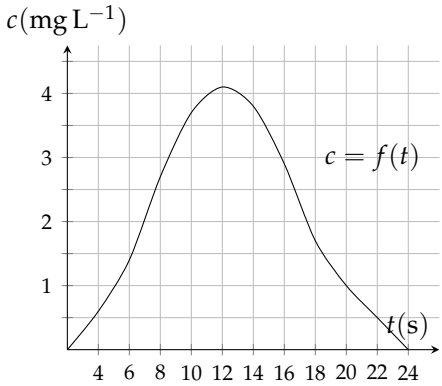

کثافت رنگ c	لمحہ t
0	2
0.6	4
1.4	6
2.7	8
3.7	10
4.1	12
3.8	14
2.9	16
1.7	18
1.0	20
0.5	22
0	24

شکل ۵.۱۷: اخراج قلب جاننے کے لئے کثافت رنگ بالمقابل وقت کی پیمائش (سوال ۵.۱۸۷)۔

رفتار $v(\mathrm{m\,s^{-1}})$	لمحہ $t(\mathrm{s})$	رفتار $v(\mathrm{m\,s^{-1}})$	لمحہ $t(\mathrm{s})$
11	6	0	0
6	7	12	1
2	8	22	2
6	9	10	3
0	10	5	4
		13	5

(ا) رفتار بالمقابل وقت برائے سوال ۵.۱۸۹

رفتار $v(\mathrm{m\,s^{-1}})$	لمحہ $t(\mathrm{min})$	رفتار $v(\mathrm{m\,s^{-1}})$	لمحہ $t(\mathrm{min})$
1.2	35	1	0
1.0	40	1.2	5
1.8	45	1.7	10
1.5	50	2.0	15
1.2	55	1.8	20
0	60	1.6	25
		1.4	30

(ب) رفتار بالمقابل وقت برائے سوال ۵.۱۹۰

شکل ۵.۱۸: رفتار بالمقابل وقت کی پیمائشی قیمتیں۔

رفتار $\mathrm{km\,h^{-1}}$	لمحہ سیکنڈ	رفتار $\mathrm{km\,h^{-1}}$	لمحہ سیکنڈ
15	70	0	0
22	80	44	10
35	90	15	20
44	100	35	30
30	110	30	40
35	120	44	50
		35	60

(ا) برائے سوال ۵.۱۹۱

رفتار $\mathrm{km\,h^{-1}}$	لمحہ گھنٹے	رفتار $\mathrm{km\,h^{-1}}$	لمحہ گھنٹے
116	0.006	0	0
125	0.007	40	0.001
132	0.008	62	0.002
137	0.009	82	0.003
142	0.010	96	0.004
		108	0.005

(ب) برائے سوال ۵.۱۹۲

شکل ۵.۱۹: گاڑی کی رفتار بالمقابل وقت۔

سوال ۵.۱۹۰: نہر کے پانی میں ایک بوتل کی رفتار بالمقابل وقت کو شکل ۵.۱۸-ب میں دیا گیا ہے۔ ایک گھنٹہ کے وقفہ کو 12 برابر ذیلی وقفوں میں تقسیم کریں۔ ان ذیلی وقفوں کے (ا) بائیں سر قیمتیں، (ب) دائیں سر قیمتیں استعمال کرتے ہوئے وہ فاصل تلاش کریں جو بوتل اس گھنٹہ میں طے کرتا ہے۔

سوال ۵.۱۹۱: ایک گاڑی جس کا رفتار پیما کارآمد لیکن مسافت پیما غیر کارآمد ہے میں آپ سفر کر رہے ہیں۔ آپ ہر 10 سیکنڈ اس کی رفتار قلم بند کرتے ہیں۔ ان نتائج کو شکل ۵.۱۹-ا میں دکھایا گیا ہے۔ سڑک کی لمبائی کی اندازاً قیمت کو (ا) بائیں سر نقطی قیمتیں، (ب) دائیں سر نقطی قیمتیں استعمال کرتے ہوئے تلاش کریں۔

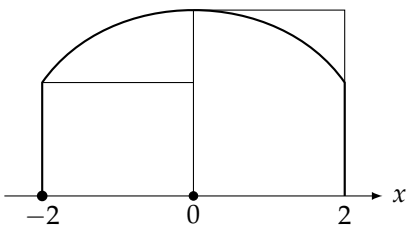

(ا) جسم کے حجم کو 2 چوکور بیلنوں کے حجم کے مجموعہ سے حاصل کیا گیا ہے۔

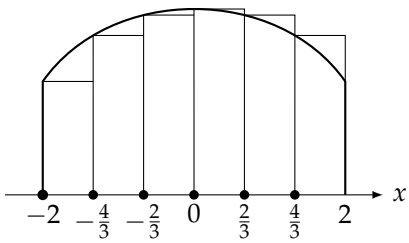

(ب) جسم کے حجم کو 6 چوکور بیلنوں کے حجم کے مجموعہ سے حاصل کیا گیا ہے۔

شکل ۵.۲۰: حجم کے ذیلی وقفے (سوال ۵.۱۹۳ اور سوال ۵.۱۹۴)

سوال ۵.۱۹۲: ساکن حال سے 36 سیکنڈ میں ایک گاڑی $142\,\mathrm{km\,h^{-1}}$ کی رفتار تک پہنچتی ہے۔ اس کی رفتار بالمقابل وقت کو شکل ۵.۱۹-ب میں دکھایا گیا ہے۔ (ا) مستطیل استعمال کرتے ہوئے ان 36 سیکنڈوں میں طے شدہ فاصلہ تلاش کریں۔ (ب) گاڑی تقریباً کتنی دیر میں آدھے فاصلہ تک پہنچی؟ اس لمحے پر گاڑی کی رفتار کتنی تھی؟

سوال ۵.۱۹۳: فرض کریں ہم مثال ۵.۲۳ میں حجم کا اندازہ صرف 2 چوکور بیلنوں سے کرتے ہیں (شکل ۵.۲۰-ا)۔ (ا) حجم H_2 تلاش کریں۔ (ب) خلل $|H - H_2|$ کی H کے لحاظ سے فی صد قیمت حاصل کریں۔

سوال ۵.۱۹۴: فرض کریں ہم مثال ۵.۲۳ میں حجم کا اندازہ صرف 6 چوکور بیلنوں سے کرتے ہیں (شکل ۵.۲۰-ب)۔ (ا) حجم H_6 تلاش کریں۔ (ب) خلل $|H - H_6|$ کو H کی فی صد کی صورت میں حاصل کریں۔

سوال ۵.۱۹۵: فرض کریں ہم مثال ۵.۲۴ میں کرہ کا حجم حاصل کرنے کے لئے وقفہ $-4 \leq x \leq 4$ کو چار برابر ذیلی وقفوں میں تقسیم کرتے ہیں۔ ہم ہر ذیلی وقفہ کے بائیں سر نقطہ پر رقبہ عمودی تراش کے برابر بیلن لیتے ہیں۔ (بائیں ترین بیلن کا رقبہ عمودی تراش صفر ہوگا۔) (ا) ان بیلنوں کا مجموعی حجم H_4 تلاش کریں۔ (ب) خلل $|H - H_4|$ کو H کا فی صد لکھیں؟

سوال ۵.۱۹۶: ایک کرہ جس کا رداس 5 ہے کا حجم درکار ہے۔ آپ اس کے قطر کو پانچ برابر ذیلی وقفوں میں تقسیم کرتے ہیں۔ یوں ایک ذیلی وقفہ 2 کے برابر ہوگا۔ آپ ان ذیلی وقفوں کے بائیں سر نقطوں پر قطر کے عمودی کرہ کو کاٹ کر رقبہ عمودی تراش حاصل کرتے ہیں۔ آپ اتنی ہی رقبہ عمودی تراش والے ایسے بیلن لیتے ہیں جن کی موٹائی 2 ہو۔ ان بیلنوں کے مجموعی حجم سے آپ کرہ کے حجم کی اندازاً قیمت تلاش کرتے ہیں۔ (ا) بیلنوں کا مجموعی حجم H_5 کیا ہوگا؟ (ب) خلل $|H - H_5|$ کو H کا فی صد لکھیں۔

سوال ۵.۱۹۷: رداس 4 کے کرہ کا حجم درکار ہے۔ اس کا محور تشاکل x محور پر وقفہ $[0, 4]$ ہے۔ آپ اس وقفہ کو 8 برابر ذیلی وقفوں میں تقسیم کرتے ہیں۔ ہر ذیلی وقفہ کے بائیں سر نقطہ پر کرہ کے رقبہ عمودی تراش کے برابر بیلن جس کی موٹائی ذیلی وقفہ کی لمبائی جتنی ہو کو استعمال کرتے ہوئے کرہ کا حجم تلاش کیا جاتا ہے (شکل ۵.۲۱)۔ (ا) مجموعی حجم H_8 تلاش کریں (جو نصف کرہ کا حجم ہوگا)۔ (ب) کیا H_8 نصف کرہ کے حجم H سے کم یا زیادہ ہوگا؟ اپنے جواب کی وجہ پیش کریں۔ (ب) خلل $|H - H_8|$ کو H کا فی صد لکھیں۔

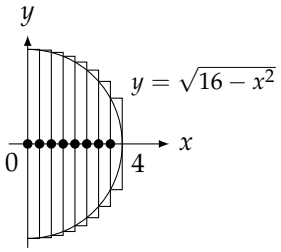

شکل ۵.۲۱: نصف کرہ (سوال ۵.۱۹۷)

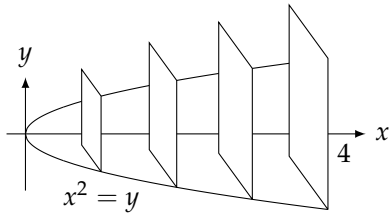

شکل ۵.۲۲: برائے سوال ۵.۱۹۹

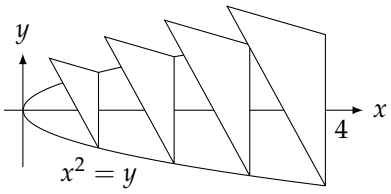

شکل ۵.۲۳: برائے سوال ۵.۲۰۰

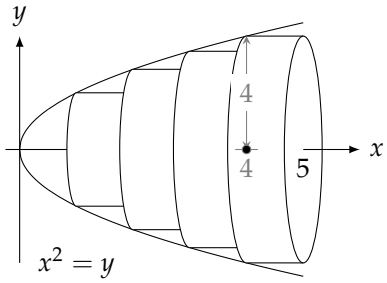

شکل ۵.۲۴: راکٹ کی نوک (سوال ۵.۲۰۳)

سوال ۵.۱۹۸: گزشتہ سوال (سوال ۵.۱۹۷) میں ہر ذیلی وقفہ کے دائیں سر نقطے پر رقبہ عمودی تراش کے برابر بیلن لیتے ہوئے دوبارہ جوابات حاصل کریں۔

سوال ۵.۱۹۹: اندازاً حجم میں بہت زیادہ خلل

نقطہ $x = 0$ اور $x = 4$ پر x محور کے عمودی سطحوں کے بیچ ایک ٹھوس جسم پایا جاتا ہے۔ اس محور کے عمودی جسم کا رقبہ عمودی تراش چوکور ہے جس کے کنارے قطع مکافی $y = -\sqrt{x}$ اور $y = \sqrt{x}$ کو مس کرتے ہیں (شکل ۵.۲۲)۔ (ا) وقفہ $0 \leq x \leq 4$ کو چار برابر ذیلی وقفوں میں تقسیم کرتے ہوئے دائیں سر نقطی رقبہ عمودی تراش لیتے ہوئے حجم H_4 تلاش کریں۔ اصل حجم $H = 32$ ہے۔ خلل $|H - H_4|$ کو H کے لحاظ سے فی صد کی صورت میں لکھیں۔ (ج) اس مسئلے کو دوبارہ H_8 کے لئے حل کریں۔

سوال ۵.۲۰۰: اندازاً حجم میں بہت زیادہ خلل

نقطہ $x = 0$ اور $x = 4$ پر x محور کے عمودی سطحوں کے بیچ ایک ٹھوس جسم پایا جاتا ہے۔ اس محور کے عمودی جسم کا رقبہ عمودی تراش متساوی الاضلاع شکل کا ہے جس کے قاعدہ قطع مکافی $y = -\sqrt{x}$ اور $y = \sqrt{x}$ کو مس کرتا ہے (شکل ۵.۲۳)۔ (ا) وقفہ $0 \leq x \leq 4$ کو چار برابر ذیلی وقفوں میں تقسیم کرتے ہوئے بائیں سر نقطی رقبہ عمودی تراش لیتے ہوئے حجم H_4 تلاش کریں۔ اصل حجم $H = 8\sqrt{3}$ ہے۔ H کے لحاظ سے خلل $|H - H_4|$ کی فی صد قیمت کتنی ہے؟ (ج) سوال کو دوبارہ H_8 کے لئے حل کریں۔

جدول ۵.۶: تالاب میں پانی کی گہرائی (سوال ۵.۲۰۲)

مقام x	گہرائی h	مقام x	گہرائی h
0	2.0	6	3.83
1	2.73	7	3.97
2	3.03	8	4.1
3	3.3	9	4.23
4	3.5	10	4.33
5	3.67		

سوال ۵.۲۰۱: ایک پانی کی ٹینکی نصف کروی پیالے کی مانند ہے جس کا رداس $8\,\mathrm{m}$ ہے۔ اس میں پانی کی گہرائی $4\,\mathrm{m}$ ہے۔ (ا) پانی کی گہرائی کو آٹھ ذیلی وقفوں میں تقسیم کرتے ہوئے ہر ذیلی وقفے کی نچلی سطح کا رقبہ عمودی تراش والے بیلن استعمال کرتے ہوئے H_8 تلاش کریں۔ (ب) اصل حجم جو آپ سوال ۵.۴۳۳ میں تلاش کریں گے $H = \frac{320\pi}{3}\,\mathrm{m}^3$ ہے۔ H کے لحاظ سے خلل $|H - H_8|$ کی فی صد قیمت تلاش کریں۔

سوال ۵.۲۰۲: تیراکی کے ایک مستطیل تالاب کی لمبائی $10\,\mathrm{m}$ اور چوڑائی $6\,\mathrm{m}$ ہے۔ تالاب کے ایک سرے سے دوسرے سر تک $1\,\mathrm{m}$ وقفوں پر پانی کی گہرائی (میٹر) جدول ۵.۶ میں دی گئی ہے۔ (ا) h کی بائیں سر نقطی قیمتیں استعمال کرتے ہوئے تالاب میں پانی کا حجم تلاش کریں۔ (ب) دائیں سر نقطی قیمت استعمال کرتے ہوئے حجم تلاش کریں۔

سوال ۵.۲۰۳: منحنی $y = \sqrt{x},\ 0 \le x \le 5$ کو y محور کے گرد گمانے سے ایک راکٹ کی قطع مکافی مجسم نوک حاصل ہوتی ہے جہاں x کی پیمائش میٹروں میں ہے (شکل ۵.۲۴)۔ اس نوک کا حجم معلوم کرنے کی خاطر ہم $[0,5]$ کو پانچ برابر حصوں میں تقسیم کرتے ہیں۔ یوں ہر حصے کی لمبائی 1 ہو گی۔ ہر حصہ کے بائیں سر نقطہ پر x محور کے قائمہ جسم کو کاٹا جاتا ہے اور ان نقطوں پر جسم کے رقبہ عمودی تراش کے برابر بیلن استعمال کرتے ہوئے نوک کا حجم دریافت کیا جاتا ہے۔ بیلنوں کی لمبائی 1 ہو گی۔ (ا) مجموعہ H_5 تلاش کریں۔ کیا H_5 کی قیمت H سے کم یا زیادہ ہو گی؟ اپنے جواب کی وجہ پیش کریں۔ (ب) نوک کا اصل حجم جو آپ سوال ۵.۴۳۴ میں تلاش کریں گے $H = 2\pi\,\mathrm{m}^3$ ہے۔ خلل $|H - H_5|$ کو H کے فی صد کی صورت میں لکھیں۔

سوال ۵.۲۰۴: ہر ذیلی وقفے کے دائیں سر نقطی رقبہ عمودی تراش استعمال کرتے ہوئے سوال ۵.۲۰۳ کو دوبارہ حل کریں۔

تفاعل کی اوسط قیمت

سوال ۵.۲۰۵ تا سوال ۵.۲۰۸ میں تفاعل f کی اوسط قیمت درکار ہے۔ دیے گئے وقفہ کو چار ذیلی وقفوں میں تقسیم کرتے ہوئے ہر ذیلی وقفے کی وسط میں تفاعل کی قیمت استعمال کرتے ہوئے متناہی مجموعہ استعمال کرتے ہوئے اوسط حاصل کریں۔

سوال ۵.۲۰۵: $f(x) = x^3, \quad [0,1]$

سوال ۵.۲۰۶: $f(x) = \frac{1}{x}, \quad [1,9]$

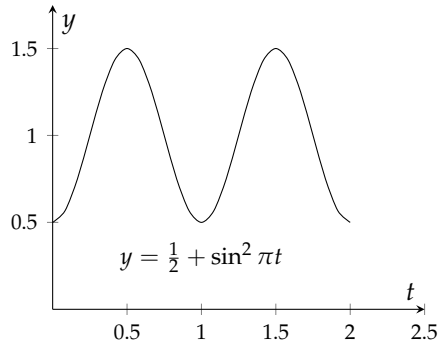

شکل ۵.۲۵: ترسیم برائے سوال ۵.۲۰۷

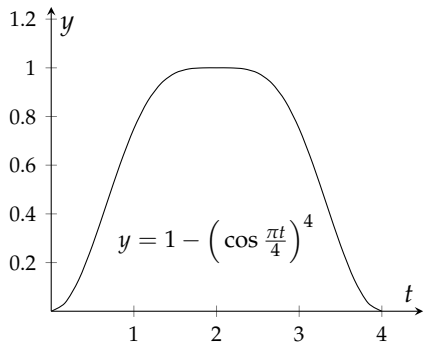

شکل ۵.۲۶: ترسیم برائے سوال ۵.۲۰۸

سوال ۵.۲۰۷: $f(t) = \frac{1}{2}\sin^2 \pi t, \quad [0,2]$ شکل ۵.۲۵

سوال ۵.۲۰۸: $f(t) = 1 - (\cos \frac{\pi t}{4})^4, \quad [0,4]$ شکل ۵.۲۶

رفتار اور فاصلہ

سوال ۵.۲۰۹: ایک جسم کو جہاز سے گرنے دیا جاتا ہے۔ جسم کی رفتار مسلسل بڑھتی ہے لیکن ہوائی رگڑ کی وجہ سے گرنے کی اسراع بتدریج کم ہوتی جاتی ہے۔ وقت بالمقابل جسم کی اسراع کو درج ذیل جدول میں پیش کیا گیا ہے۔

$t(\mathrm{s})$	0	1	2	3	4	5
$a(\mathrm{m\,s^{-2}})$	9.8	5.92	3.59	2.18	1.32	0.80

(ا) لمحہ $t = 5$ پر رفتار کی بالائی حد تلاش کریں۔ (ب) لمحہ $t = 5$ پر رفتار کی نچلی حد تلاش کریں۔ (ج) لمحہ $t = 3$ میں گرنے والے فاصلہ کی بالائی حد تلاش کریں۔

سوال ۵.۲۱۰: ایک جسم کو سمندری سطح سے سیدھا اوپر $125\,\mathrm{m\,s^{-1}}$ کی رفتار سے پھینکا جاتا ہے۔ فرض کریں کہ اس جسم پر صفر ثقلی قوت اثر انداز ہوتی ہے۔ (ا) پانچ سیکنڈ بعد اس کی رفتار کی بالائی حد تلاش کریں۔ (ب) پانچ سیکنڈ بعد اس کی رفتار کی نچلی حد تلاش کریں۔ ثقلی اسراع کو $9.8\,\mathrm{m\,s^{-2}}$ لیں۔

آلودگی پر قابو پانا

سوال ۵.۲۱۱: تیل کے جہاز سے سمندر میں تیل رس رہا ہے۔ رستا تیل کی مقدار (لٹر فی گھنٹہ) بالمقابل وقت (گھنٹہ) کو نیچے جدول میں دیا گیا ہے۔ آپ دیکھ سکتے ہیں کہ صورت حال بتدریج خراب ہو رہی ہے۔

گھنٹہ	0	1	2	3	4	5	6	7	8
$\mathrm{L\,h^{-1}}$	50	70	97	136	190	265	369	516	720

(ا) ان پانچ گھنٹوں میں خارج تیل کی مقدار کی بالائی اور نچلی حد تلاش کریں۔ (ب) آٹھ گھنٹوں میں خارج تیل کی بالائی اور نچلی حد تلاش کریں۔ (ج) ابتدائی آٹھ گھنٹوں بعد تیل مسلسل $720\ \mathrm{L\,h^{-1}}$ سے رستا ہے۔ اگر جہاز میں ابتدائی طور کل $25\,000\ \mathrm{L}$ تیل ہو تب تمام تیل خارج ہونے کے لئے زیادہ سے زیادہ اور کم سے کم کتنا وقت درکار ہو گا۔

سوال ۵.۲۱۲: ایک بجلی گھر تیل کو جلا کر برقی طاقت پیدا کرتا ہے۔ تیل جلنے سے پیدا آلودگی کو کم کرنے کی خاطر دھواں کش کو چھلنی سے گزارا جاتا ہے جو نجاست کو روک دیتا ہے۔ وقت کے ساتھ ساتھ چھلنی کی کارگزاری کم پڑ جاتی ہے اور اس کو تبدیل کرنا لازمی ہو جاتا ہے۔ ہر مہینے کی آخر میں ہوا میں خارج نجاست کی شرح ناپی جاتی ہے، اگر یہ مقدار سرکاری حد سے زیادہ ہو تب چھلنی کو تبدیل کیا جاتا ہے۔ اس پیمائش کی ایک مثال نچلی جدول میں دکھائی گئی ہے جہاں یومیہ خارج نجاست کی مقدار کی اکائی ٹن ($1000\ \mathrm{kg}$) ہے۔

مہینہ	1	2	3	4	5	6	7	8	9	10	11	12
نجاست	0.2	0.25	0.27	0.34	0.45	0.52	0.63	0.70	0.81	0.85	0.89	0.95

(ا) تمام مہینوں کو 30 دنوں کا تصور کریں۔ فرض کریں نئی چھلنی سے یومیہ 0.05 ٹن نجاست نکل پاتی ہے۔ جون کے مہینے کی آخر تک ہوا میں کل خارج نجاست کی مقدار کی بالائی حد کیا ہو گی؟ اس کی نچلی حد کیا ہو گی؟ (ب) بہترین حالات میں کل 125 ٹن نجاست کتنے عرصہ میں ہوا میں خارج ہو گا؟

کمپیوٹر کا استعمال

سوال ۵.۲۱۳ تا سوال ۵.۲۱۶ میں کمپیوٹر استعمال کرتے ہوئے (ا) دیے گئے وقفے پر تفاعل ترسیم کریں۔ (ب) وقفہ کو $n = 100$ ، $n = 200$ اور $n = 1000$ برابر ذیلی وقفوں میں تقسیم کرتے ہوئے ہر ذیلی وقفے کی وسط میں تفاعل کی قیمت تلاش کریں۔ (ج) جزو-ب میں حاصل قیمتوں سے تفاعل کی اوسط $\bar{f}$ تلاش کریں۔ (د) $n = 1000$ کے لئے حاصل اوسط $\bar{f}$ استعمال کرتے ہوئے مساوات $f(x) = \bar{f}$ کو حل کریں۔

سوال ۵.۲۱۳: $f(x) = \sin x, \quad [0, \pi]$

سوال ۵.۲۱۴: $f(x) = \sin^2 x, \quad [0, \pi]$

سوال ۵.۲۱۵: $f(x) = x \sin \frac{1}{x}, \quad [\frac{\pi}{4}, \pi]$

سوال ۵.۲۱۶: $f(x) = x \sin^2 \frac{1}{x}, \quad [\frac{\pi}{4}, \pi]$

۵.۵ ریمان مجموعے اور قطعی تکملات

گزشتہ حصے میں ہم نے فاصلے، رقبے، حجم اور اوسط قیمتوں کو متناہی مجموعوں کی مدد سے حاصل کیا۔ منتخب تفاعل کی قیمتوں کو وقفوں کی لمبائیوں کے ساتھ ضرب دیتے ہوئے یہ مجموعے حاصل کیے گئے۔ اس حصہ میں ان وقفوں کی لمبائیوں کو کم سے کم اور تعداد کو زیادہ سے زیادہ کرتے ہوئے مجموعہ کی تحدیدی قیمت پر غور کیا جائے گا۔ متعدد ارکان پر مشتمل مجموعے کو ظاہر کرنے کی علامت پہلے متعارف کرتے ہیں۔

۷۰۲۹ **متناہی مجموعہ کی علامت**

۷۰۳۰ درج ذیل مجموعہ کو

$$f(t_1)\Delta t + f(t_2)\Delta t + \cdots + f(t_n)\Delta t$$

۷۰۳۱ یونانی حروف تہجی کا بڑا حرف Σ (''سگما'') استعمال کرتے ہوئے $\sum_{k=1}^{n} f(t_k)\Delta t$ سے ظاہر کیا جاتا ہے جو k کی 1 تا n قیمتوں کے لئے Δt
۷۰۳۲ ضرب t_k پر f کی قیمتوں کا مجموعہ ہے۔ مجموعہ کی یوں اظہار کو **سگما علامتی اظہار** کہتے ہیں۔

۷۰۳۳ تعریف: **متناہی مجموعہ کا سگما علامتی اظہار**

۷۰۳۴ علامت $\sum_{k=1}^{n} a_k$ سے مراد مجموعہ $a_1 + a_2 + \cdots + a_n$ ہے۔ مجموعہ کے **ارکان**[۱۵] a_1 تا a_n ہیں جہاں a_1 مجموعے کا پہلا اور a_n
۷۰۳۵ مجموعے کا آخری رکن ہے۔ متغیر k **مجموعی سلسلہ کا اشاری**[۱۶] کہلاتا ہے۔ k کی قیمتیں 1 تا n عدد صحیح ہیں۔ **مجموعی سلسلہ کا زیریں حد**[۱۷] 1
۷۰۳۶ جبکہ **مجموعی سلسلہ کا بالائی حد**[۱۸] n ہے۔ زیریں اور بالائی حدود کوئی بھی دو عدد صحیح ممکن ہیں۔

۷۰۳۷ □

۷۰۳۸ مثال ۵.۲۶:

مجموعہ کی قیمت	ارکان کی صورت میں مجموعہ	مجموعہ کی سگما صورت
15	$1+2+3+4+5$	$\sum_{k=1}^{5} k$
$-1+2-3=-2$	$(-1)^1(1)+(-1)^2(2)+(-1)^3(3)$	$\sum_{k=1}^{3} (-1)^k k$
$\frac{1}{2}+\frac{2}{3}=\frac{7}{6}$	$\frac{1}{1+1}+\frac{2}{2+1}$	$\sum_{k=1}^{2} \frac{k}{k+1}$

۷۰۳۹ □

۷۰۴۰ مجموعی سلسلہ کا زیریں حد 1 سے ہٹ کر ہو سکتا ہے۔

۷۰۴۱ مثال ۵.۲۷: مجموعہ $1+3+5+7+9$ کو سگما علامتی روپ میں لکھیں۔

۷۰۴۲ حل:

$$\sum_{k=0}^{4}(2k+1) \qquad k=0 \text{ سے شروع کیا گیا ہے}$$

$$\sum_{k=1}^{5}(2k-1) \qquad k=1 \text{ سے شروع کیا گیا ہے}$$

---

[۱۵] terms
[۱۶] indexofsummation
[۱۷] lowerlimitofsummation
[۱۸] upperlimitofsummation

۷۰۴۳ □

۷۰۴۴ **متناہی مجموعہ کا الجبرا**

۷۰۴۵ متناہی مجموعوں کے ساتھ کام کرتے ہوئے درج ذیل قواعد بروئے کار لائے جا سکتے ہیں۔

۷۰۴۶ قاعدہ مجموعہ: $\sum\limits_{k=1}^{n}(a_k+b_k)=\sum\limits_{k=1}^{n}a_k+\sum\limits_{k=1}^{n}b_k$

۷۰۴۷ قاعدہ فرق: $\sum\limits_{k=1}^{n}(a_k-b_k)=\sum\limits_{k=1}^{n}a_k-\sum\limits_{k=1}^{n}b_k$

۷۰۴۸ قاعدہ ضرب مستقل: $\sum\limits_{k=1}^{n}ca_k=c\cdot\sum_{k=1}^{n}a_k$ جہاں c کوئی عدد ہے۔

۷۰۴۹ قاعدہ مستقل قیمت: $\sum\limits_{k=1}^{n}c=n\cdot c$ جہاں c کوئی مستقل قیمت ہے۔

۷۰۵۰ اس فہرست میں کوئی حیران کن حقیقت پیش نہیں کی گئی ہے۔ان کے باضابطہ ثبوت (الکراجی) الجبرائی ماخوذ سے حاصل کیے جا سکتے ہیں جنہیں ضمیمہ ا میں پیش کیا
۷۰۵۱ گیا ہے۔

۷۰۵۲ مثال ۵.۲۸:

$$\sum_{k=1}^{n}(3k-k^2)=3\sum_{k=1}^{n}k-\sum_{k=1}^{n}k^2 \qquad \text{قاعدہ فرق اور قاعدہ ضرب مستقل}$$

$$\sum_{k=1}^{n}(-a_k)=\sum_{k=1}^{n}(-1)\cdot a_k=-1\cdot\sum_{k=1}^{n}a_k=-\sum_{k=1}^{n}a_k \qquad \text{قاعدہ ضرب مستقل}$$

$$\begin{aligned}\sum_{k=1}^{3}(k+4)&=\sum_{k=1}^{3}k+\sum_{k=1}^{3}4\\&=(1+2+3)+(3\cdot 4) \qquad \text{قاعدہ مستقل قیمت}\\&=6+12=18\end{aligned}$$

۷۰۵۳ □

مثبت عدد صحیح کے کلیات مجموعہ

متناہی مجموعوں کے کئی کلیات پائے جاتے ہیں جن میں سے مشہور ترین کلیات شروع کے n عدد صحیح کا مجموعہ ہے (جو گاوس نے 5 سال کی عمر میں اخذ کیا) اور شروع کے n عدد صحیح کے مربع اور مکعب کے مجموعوں کے کلیات ہیں۔

$$\begin{aligned}
\sum_{k=1}^{n} k &= \frac{n(n+1)}{2} && \text{ابتدائی } n \text{ عدد صحیح} \\
\sum_{k=1}^{n} k^2 &= \frac{n(n+1)(2n+1)}{6} && \text{ابتدائی } n \text{ عدد صحیح کے مربع} \\
\sum_{k=1}^{n} k^3 &= \left(\frac{n(n+1)}{2}\right)^2 && \text{ابتدائی } n \text{ عدد صحیح کے مکعب}
\end{aligned} \tag{1}$$

مثال ۵.۲۹: $\sum_{k=1}^{4}(k^2-3k)$ تلاش کریں۔

حل: ہم مجموعہ کو مجموعی سلسلہ کے روپ میں لکھے بغیر الجبرائی قواعد استعمال کرتے ہوئے جواب حاصل کرتے ہیں۔

$$\begin{aligned}
\sum_{k=1}^{4}(k^2-3k) &= \sum_{k=1}^{4} k^2 - 3\sum_{k=1}^{4} k && \text{قاعدہ فرق اور قاعدہ ضرب مستقل} \\
&= \frac{4(4+1)(8+1)}{6} - 3\left(\frac{4(4+1)}{2}\right) && n=4 \text{ لیتے ہوئے مساوات ۱} \\
&= 30-30=0
\end{aligned}$$

□

ریمان مجموعے

ہم نے حصہ ۵.۴ میں تخمینی مجموعوں پر غور کیا جو زیادہ عمومی **ریمان مجموعہ** کی مخصوص مثالیں تھیں۔ ان مثالوں میں تفاعل کی قیمتیں غیر منفی تھیں جبکہ ریمان مجموعہ میں ایسی پابندی نہیں پائی جاتی ہے۔ وقفہ $[a,b]$ پر دیے گئے اختیاری استمراری تفاعل $y = f(x)$ کو a اور b کے بیچ نقاط $x_1, x_2, \cdots, x_{n+1}$ پر n ذیلی وقفوں میں تقسیم کیا جاتا ہے (شکل ۵.۲۷)۔ یہ نقطے صرف درج ذیل شرط کے تحت منتخب کیے جاتے ہیں۔

$$a < x_1 < x_2 < \cdots < x_{n-1} < b$$

اس علامتی روپ میں مطابقت پیدا کرنے کی خاطر a کو x_0 اور b کو x_n سے ظاہر کیا جاتا ہے۔ درج ذیل سلسلہ

$$P = \{x_0, x_1, \cdots, x_n\}$$

کو $[a,b]$ کی **خانہ بندی**[19] کہتے ہیں۔

[19] partition

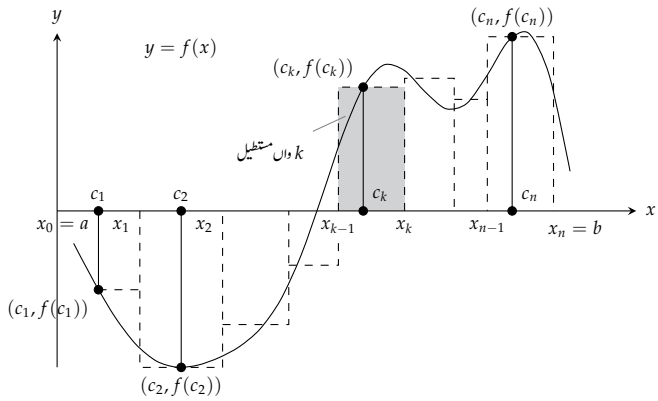

شکل ۵.۲۷: بند وقفہ $[a, b]$ پر عمومی تفاعل $y = f(x)$۔ تفاعل اور x محور کے بیچ رقبہ کو تخمینی طور پر مستطیلوں سے ظاہر کیا گیا ہے۔ نقطہ c_1 کو عین x_0 پر منتخب کیا ہوا دکھایا گیا ہے۔

۷۰۶۶ P کی خانہ بندی درج ذیل n عدد بند **ذیلی وقفوں**[۲۰] کو ظاہر کرتی ہے۔

$$[x_0, x_1], [x_1, x_2], \cdots, [x_{n-1}, x_n]$$

۷۰۶۷ بند ذیلی وقفہ $[x_{k-1}, x_k]$ کو P کا k واں ذیلی وقفہ کہتے ہیں۔

۷۰۶۸

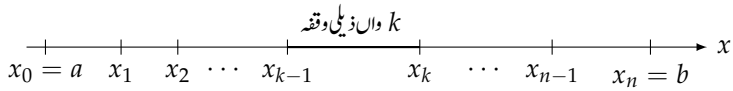

۷۰۶۹

۷۰۷۰ k ویں ذیلی وقفہ کی لمبائی $\Delta x_k = x_k - x_{k-1}$ ہے۔

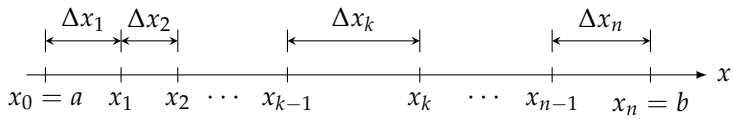

۷۰۷۱

۷۰۷۲ ہر ذیلی وقفہ $[x_{k-1}, x_k]$ میں ہم کوئی نقطہ c_k منتخب کرتے ہوئے ذیلی وقفہ میں تفاعل $y = f(x)$ پر نقطہ $(c_k, f(c_k))$ تک مستطیل
۷۰۷۳ بناتے ہیں۔ جب تک نقطہ c_k ذیلی وقفہ $[x_{k-1}, x_k]$ میں پایا جاتا ہو اس کا مقام غیر اہم ہے (شکل ۵.۲۷)۔

۷۰۷۴ اگر $f(c_k)$ مثبت ہو تب عدد $f(c_k)\Delta x_k$ مستطیل کے قد ضرب قاعدہ یعنی مستطیل کے رقبہ کے برابر ہو گا۔ اگر $f(c_k)$ منفی عدد ہو تب

---

[۲۰] subintervals

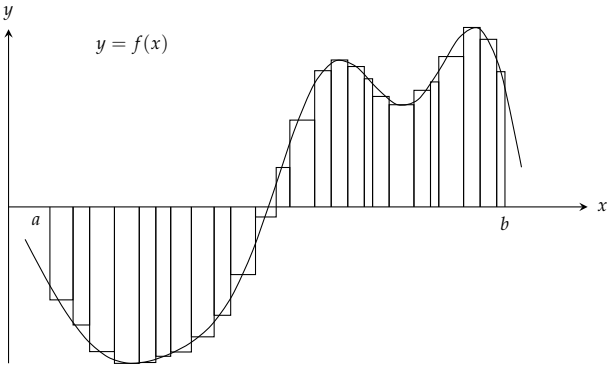

شکل ۵.۲۸: وقفہ $[a, b]$ کے زیادہ باریک خانہ بندی سے مستطیلوں کی تعداد بڑھتی ہے جن کے تلانسبتاً چھوٹے ہوتے ہیں۔

۷۰۷۵ $f(c_k)\Delta x_k$ مستطیل کے رقبہ کے نفی کے برابر ہوگا۔ ہم ان تمام $f(c_k)\Delta x_k$ حاصل ضرب جن کی تعداد n ہے کا مجموعہ لیتے ہیں۔

$$S_P = \sum_{k=1}^{n} f(c_k)\Delta x_k$$

۷۰۷۶ یہ مجموعہ جو P اور c_k کی انتخاب پر منحصر ہے وقفہ $[a, b]$ پر f کا **ریمان مجموعہ**[۲۱] کہلاتا[۲۲] ہے۔

۷۰۷۷ $[a, b]$ کے خانوں کی چوڑائی کم سے کم کرتے ہوئے خانہ بندی سے حاصل مستطیل تفاعل f اور x محور کے بیچ خطہ کو بہتر سے بہتر ظاہر کرتے ہیں (شکل
۷۰۷۸ ۵.۲۸ کا شکل ۵.۲۷ کے ساتھ موازنہ کریں)۔ یوں ہم توقع کرتے ہیں کہ ریمان مجموعہ کی تحدیدی قیمت پائی جائے گی۔ ہماری اس توقع کو پرکھنے کی خاطر ہمیں
۷۰۷۹ خانوں کی چوڑائی کم سے کم کرنے کو ریاضیاتی صورت میں لکھنا ہوگا اور جاننا ہوگا کہ آیا مطابقتی مجموعہ کی کوئی تحدیدی قیمت پائی جاتی ہے۔ ہم درج ذیل تعریف کی
۷۰۸۰ مدد سے ایسا کر پائیں گے۔

۷۰۸۱ خانہ بندی P کی **معیار**[۲۳] سے مراد سب سے لمبے خانے کی لمبائی ہے جس کو درج ذیل علامت سے ظاہر کیا جاتا ہے۔

$$\|P\| \qquad \text{(اس کو ''}P\text{'' کا معیار ''پڑھیں)}$$

۷۰۸۲ خانوں کی چوڑائی کم سے کم کرنے کے بجائے اب ہم کہتے ہیں کہ خانوں کی معیار صفر تک پہنچائی جاتی ہے۔ جیسے جیسے معیار کی قیمت صفر کے نزدیک ہوتی جاتی ہے
۷۰۸۳ ویسے ویسے ذیلی وقفوں کی لمبائی کم سے کم اور ان کی تعداد زیادہ سے زیادہ ہوتی جاتی ہے۔ خانوں کی چوڑائی کم کرنے سے باریک مستطیل پیدا ہوں گے۔

۷۰۸۴ مثال ۵.۳۰: وقفہ $[0, 2]$ کی خانہ بندی سلسلہ $P = \{0, 0.2, 0.6, 1, 1.5, 2\}$ ہے۔ P کے پانچ ذیلی وقفے درج ذیل ہیں۔

$$[0, 0.2],\ [0.2, 0.6],\ [0.6, 1],\ [1, 1.5],\ [1.5, 2]$$

---

[۲۱] Riemannsum

[۲۲] جرمنی کے ریاضی دان برنہارڈ ریمان [1826-1866] نے ایسے مجموعوں کی تحدیدی قیمتوں پر کام کیا۔

[۲۳] norm

ان ذیلی وقفوں کی لمبائیاں $\Delta x_1 = 0.2$ ، $\Delta x_2 = 0.4$ ، $\Delta x_3 = 0.4$ ، $\Delta x_4 = 0.5$ اور $\Delta x_5 = 0.5$ ہیں۔ان میں سب سے لمبے ذیلی وقفہ کی لمبائی 0.5 ہے لہٰذا خانہ بندی P کا معیار $\|P\| = 0.5$ ہے۔اس مثال میں دو ذیلی وقفوں کی لمبائی 0.5 ہے۔ □

تعریف: **قطعی تکمل بطور ریمان مجموعوں کا حد**

فرض کریں وقفہ $[a, b]$ پر $f(x)$ ایک معین تفاعل ہے۔ہم کہتے ہیں کہ $\|P\| \to 0$ کرتے ہوئے وقفہ $[a, b]$ پر ریمان مجموعہ $\sum_{k=1}^{n} f(c_k)\Delta x_k$ کا حد اس صورت عدد I ہو گا جب درج ذیل شرط پورا ہوتا ہو:

کسی بھی دیے گئے عدد $\epsilon > 0$ کے لئے ایسا مطابقتی عدد $\delta > 0$ موجود ہے کہ ذیلی وقفہ $[x_{k-1}, x_k]$ میں کسی بھی منتخب عدد c_k کے لئے درج ذیل مطمئن ہو۔

$$\|P\| < \delta \quad \Longrightarrow \quad \left|\sum_{k=1}^{n} f(c_k)\Delta x_k\right| < \epsilon$$

□

اگر یہ حد موجود ہو تب ہم درج ذیل لکھتے ہیں۔

$$\lim_{\|P\|\to 0} \sum_{k=1}^{n} f(c_k)\Delta x_k = I$$

وقفہ $[a, b]$ پر عدد I تفاعل f کا **قطعی تکمل**[۲۴] کہلاتا ہے، اور ہم کہتے ہیں کہ $[a, b]$ پر f **قابل تکمل**[۲۵] ہے اور $[a, b]$ پر f کا ریمان مجموعہ عدد I پر **مرکوز**[۲۶] ہے۔

ہم عموماً I کو $\int_a^b f(x)\,\mathrm{d}x$ لکھتے ہیں جو "a تا b تفاعل f کا تکمل" پڑھا جاتا ہے۔یوں اگر حد موجود ہو تب درج ذیل لکھا جائے گا۔

$$\lim_{\|P\|\to 0} \sum_{k=1}^{n} f(c_k)\Delta x_k = \int_a^b f(x)\,\mathrm{d}x$$

دلچسپ حقیقت یہ ہے کہ خانہ بندی تبدیل کرتے ہوئے اور ہر خانے میں c_k کا مقام تبدیل کرنے کے باوجود استمراری f کی صورت میں $\|P\| \to 0$ کرتے ہوئے ریمان مجموعوں $\sum f(c_k)\Delta x_k$ کی تحدیدی قیمت تبدیل نہیں ہوتی ہے۔ریمان نے ۱۸۵۴ء میں درج ذیل مسئلہ ثابت کرتے ہوئے اس حقیقت کی تصدیق کر دی۔ریمان کے ثبوت کی جدید صورت احصاء کی تقریباً تمام اعلیٰ کتابوں میں پایا جاتا ہے۔

مسئلہ ۵.۱: **قطعی تکمل کی موجودگی**

تمام استمراری تفاعل قابل تکمل ہیں۔یعنی وقفہ $[a, b]$ پر استمراری تفاعل f کا $[a, b]$ پر قطعی تکمل موجود ہو گا۔

---

[۲۴] definiteintegral
[۲۵] integrable
[۲۶] converges

ہم کیوں یقین کریں کہ یہ مسئلہ کارآمد ہوگا؟ وقفہ $[a, b]$ کی عمومی خانہ بندی P فرض کریں۔ چونکہ تفاعل f استمراری ہے لہٰذا ہر ذیلی وقفہ پر اس کی کوئی کم سے کم قیمت k_L اور کوئی زیادہ سے زیادہ قیمت k_H ہوگی۔ کم سے کم قیمتوں (شکل ۵.۲۹-ا) سے حاصل ضرب $k_L \Delta x_k$ کا درج ذیل مجموعہ P پر f کا **زیریں مجموعہ**[۲۷] L کہلاتا ہے۔

$$L = k_{L1}\Delta x_1 + k_{L2}\Delta x_2 + \cdots + k_{Ln}\Delta x_n$$

اسی طرح زیادہ سے زیادہ قیمتوں (شکل ۵.۲۹-ب) سے حاصل ضرب $k_H \Delta x_k$ کا درج ذیل مجموعہ P پر f کا بالائی مجموعہ H کہلاتا ہے۔

$$H = k_{H1}\Delta x_1 + k_{H2}\Delta x_2 + \cdots + k_{Hn}\Delta x_n$$

ان کا فرق $H - L$ شکل ۵.۲۹-ج میں دکھائے گئے سیاہ ڈبوں کے رقبہ کے برابر ہوگا۔ جیسا جیسا $\|P\| \to 0$ کیا جائے ان ڈبوں کی تعداد بڑھتی جائے گی جبکہ ان کی چوڑائی اور لمبائی کم سے کم ہوتی جائے گی۔ ہم $\|P\|$ کو صفر کے کافی نزدیک کرتے ہوئے غیر منفی عدد $H - L$ کو کسی بھی چھوٹے سے چھوٹے مثبت عدد ϵ سے کم کر سکتے ہیں، یعنی

$$\lim_{\|P\|\to 0}(H - L) = 0 \qquad (۲)$$

اور جیسا اعلیٰ نصاب میں دکھایا گیا ہے درج بالا سے مراد درج ذیل ہے۔

$$\lim_{\|P\|\to 0} L = \lim_{\|P\|\to 0} H \qquad (۳)$$

بند وقفوں پر استمراری تفاعل کی ایک خاصیت جس کو **یکساں استمرار**[۲۸] کہتے ہیں کی بدولت مساوات ۲ اور مساوات ۳ کارآمد ہیں۔ یہ خاصیت ممکن بناتی ہے کہ $\|P\| \to 0$ کرتے ہوئے ان ڈبوں، جو H اور L کے فرق کو ظاہر کرتے ہیں، کی چوڑائی کو کم سے کم کرتے ہوئے ان کی قد کو کم سے کم بنایا جا سکتا ہے اور ہم ان کی چوڑائی کم کرتے ہوئے ان کے قد کو جتنا چاہیں کم کر سکتے ہیں۔ چونکہ یکساں استمرار سے منسلک ϵ بالمقابل δ کی دلیل ہم نے یہاں پیش نہیں کی ہے لہٰذا ہم مساوات ۳ کو ثبوت نہیں مان سکتے ہیں البتہ مذکورہ بالا دلائل اصل ثبوت کی روح پیش کرتے ہیں۔

ہم وقفہ $[a, b]$ پر استمراری تفاعل f کے لئے مساوات ۳ کو درست تصور کرتے ہوئے P کے ہر ذیلی وقفہ $[x_{k-1}, x_k]$ پر نقطہ c_k منتخب کرتے ہوئے ریمان مجموعہ $\sum_{k=1}^{n} f(c_k)\Delta x_k$ لکھتے ہیں. اب ہر k کے لئے $k_L \le f(c_k) \le k_H$ ہوگا لہٰذا درج ذیل لکھا جا سکتا ہے۔

$$L \le \sum_{k=1}^{n} f(c_k)\Delta x_k \le H$$

f کا ریمان مجموعہ H اور L کے بیچ پایا جاتا ہے۔ مسئلہ بیچ (مسئلہ ۴.۲) کی ترمیم شدہ روپ سے ہم اخذ کرتے ہیں کہ $\|P\| \to 0$ کرتے ہوئے ریمان مجموعہ کا حد موجود ہوگا اور یہ L اور H کی مشترکہ تحدیدی قیمت ہوگی:

$$\lim_{\|P\|\to 0} L = \lim_{\|P\|\to 0} \sum_{k=1}^{n} f(c_k)\Delta x_k = \lim_{\|P\|\to 0} H$$

---

[۲۷] lowersum
[۲۸] uniformcontinuity

ایک لمحہ رک کر اس نتیجہ پر غور کریں۔ اس نتیجہ کے تحت ہم c_k کو جس طرح بھی منتخب کریں، $\|P\| \to 0$ کرتے ہوئے ریمان مجموعہ کی تحدیدی قیمت وہی حاصل ہو گی۔ ہر $f(c_k)$ کو $[x_{k-1}, x_k]$ پر f کی کم سے کم قیمت منتخب کر کے وہی حد حاصل ہو گا۔ اسی طرح ہر $f(c_k)$ کو $[x_{k-1}, x_k]$ پر f کی زیادہ سے زیادہ قیمت منتخب کر کے بھی وہی حد حاصل ہو گا۔ c_k کو بلا منصوبہ منتخب کر کے بھی یہی حد حاصل ہو گا۔

اگرچہ ہم نے قطعی تکمل کی موجودگی کا مسئلہ بالخصوص استمراری تفاعل کے لئے پیش کیا، حقیقت میں کئی غیر استمراری تفاعل بھی قابل تکمل ہیں۔ غیر محدود تفاعل کی تکمل پر حصہ ۸.۶ میں غور کیا جائے گا۔

بغیر ریمان تکمل والے تفاعل

غیر استمراری تفاعل، ماسوائے چند، ناقابل تکمل ہیں۔ مثلاً درج ذیل تفاعل کا $[0,1]$ پر کوئی ریمان تکمل نہیں پایا جاتا ہے۔

$$f(x) = \begin{cases} 1, & \text{ناطق} \\ 0, & \text{غیر ناطق} \end{cases}$$

وقفہ $[0,1]$ کے کسی بھی خانہ بندی P کے لئے بالائی مجموعہ اور زیریں مجموعہ درج ذیل ہوں گے۔

$$\begin{aligned} H &= \sum k_H \Delta x_k = \sum 1 \cdot \Delta x_k = \sum \Delta x_k = 1, \\ L &= \sum k_L \Delta x_k = \sum 0 \cdot \Delta x_k = 0 \end{aligned}$$

وقفہ $[0,1]$ پر f کے تکمل کی موجودگی کے لئے ضروری ہے کہ $\|P\| \to 0$ سے H اور L کی ایک سی تحدیدی قیمتیں حاصل ہوں۔ لیکن ایسا نہیں ہے:

$$\lim_{\|P\|\to 0} L = 0, \quad \lim_{\|P\|\to 0} H = 1$$

یوں $[0,1]$ پر f کا تکمل نہیں پایا جاتا ہے۔ مستقل مضرب kf کا بھی تکمل نہیں پایا جاتا ہے ماسوائے جب k صفر ہو۔

اصطلاحات

علامت $\int_a^b f(x)\,\mathrm{d}x$ کے ساتھ بہت ساری اصطلاح وابستہ ہیں۔ یوں $\int$ کو **علامت تکمل** کہتے ہیں، a تکمل کا **زیریں حد** جبکہ b تکمل کا **بالائی حد** ہے، f **متکمل** ہے، x تکمل کا **متغیر** ہے، جبکہ $\int_a^b f(x)\,\mathrm{d}x$ سے مراد a تا b تفاعل f کا **تکمل** ہے۔ تکمل حل کرنے سے مراد تکمل کی قیمت کی تلاش ہے۔

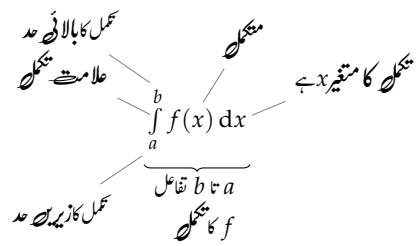

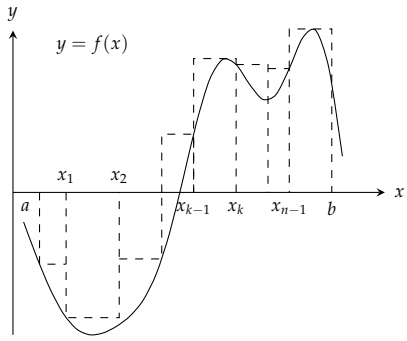

(ب) بالائی مجموعہ $H = \sum_{k=1}^{n} k_H \Delta x_k$

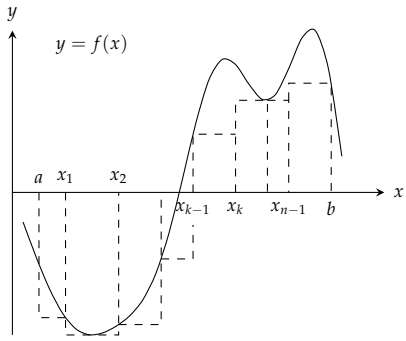

(ا) زیریں مجموعہ $L = \sum_{k=1}^{n} k_L \Delta x_k$

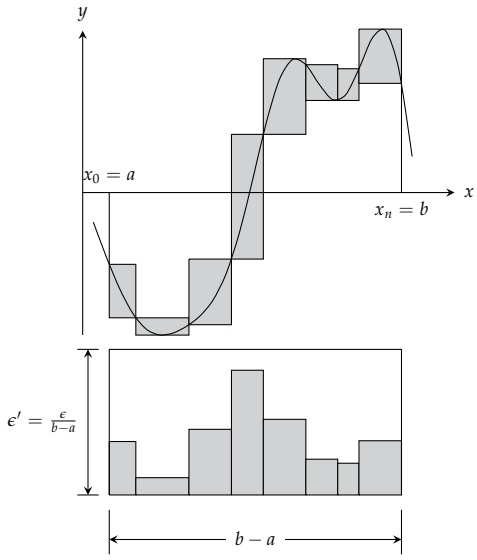

(ج) فرق $H - L$ کو $\epsilon' \cdot (b-a)$ یعنی ϵ سے کم بنایا جا سکتا ہے۔

شکل ۵.۲۹: بالائی اور زیریں مجموعوں میں فرق۔

کسی بھی مخصوص وقفہ پر قطعی تکمل کی قیمت تفاعل پر منحصر ہوتی ہے نا کہ غیر تابع متغیر کی علامت پر۔ یوں تکمل میں غیر تابع متغیر کو x کے بجائے u یا t سے ظاہر کرتے ہوئے

$$\int_a^b f(x)\,\mathrm{d}x \text{ کے بجائے } \int_a^b f(u)\,\mathrm{d}u \quad \text{یا} \quad \int_a^b f(t)\,\mathrm{d}t \text{ لکھا جائے گا۔}$$

ان تینوں تکمل سے مراد ریمان مجموعہ ہے لہٰذا غیر تابع متغیر کا تکمل کی قیمت پر کوئی اثر نہیں ہوگا اور تینوں تکمل کی قیمت ایک دوسرے جیسی ہوگی۔ اسی لیے تکمل کے متغیر کو **نقلی متغیر**[۲۹] کہتے ہیں۔

مثال ۵.۳۱: درج ذیل ریمان مجموعوں کی تحدیدی قیمت کو تکمل کی صورت میں لکھیں جہاں P وقفہ $[-1,3]$ کی خانہ بندی ہے۔

$$\lim_{\|P\|\to 0}\sum_{k=1}^{n}(3c_k^2-2c_k+5)\Delta x_k$$

حل: نقطہ c_k پر تفاعل $f(x) = 3x^2-2x+5$ کی قیمت تلاش کی جا رہی ہے اور وقفہ $[-1,3]$ کی خانہ بندی کی جا رہی ہے۔ یوں ہمیں -1 تا 3 تفاعل f کا تکمل درکار ہے:

$$\lim_{\|P\|\to 0}\sum_{k=1}^{n}(3c_k^2-2c_k+5)\Delta x_k = \int_{-1}^{3}(3x^2-2x+5)\,\mathrm{d}x$$

□

مستقل تفاعل

ہمیں مسئلہ ۵.۱ قطعی تکمل کی قیمت کے حصول کے بارے میں کچھ نہیں کہتا ہے ماسوائے چند مخصوص صورتوں میں جہاں ایک دوسرا مسئلہ (حصہ ۵.۷) زیر استعمال ہوگا۔ مستقل تفاعل ان مخصوص صورتوں میں سے ایک ہے۔ اگر ہم فرض کریں کہ وقفہ $[a,b]$ پر f ایک مستقل تفاعل $f(x)=c$ ہو تب c_k کی کسی بھی انتخاب کے لئے درج ذیل ہوگا۔

$$\begin{aligned}
\sum_{k=1}^{n} f(c_k)\Delta x_k &= \sum_{k=1}^{n} c\cdot\Delta x_k && \text{ہر نقطہ پر } c \text{ کے برابر ہے } f(c_k)\\
&= c\cdot\sum_{k=1}^{n}\Delta x_k && \text{مجموعہ کا قاعدہ برائے مستقل مضرب}\\
&= c(b-a) && \sum_{k=1}^{n}\Delta x_k \text{ وقفہ } [a,b] \text{ کی لمبائی } b-a \text{ ہے}
\end{aligned}$$

چونکہ تمام مجموعوں کی قیمت ان کی تحدیدی قیمت $c(b-a)$ کے برابر ہے لہٰذا تکمل کی قیمت بھی یہی ہوگی۔ یوں درج ذیل درست ہوگا۔

[۲۹] dummyvariable

وقفہ $[a,b]$ جس پر تفاعل $f(x)$ کی قیمت مستقل c ہے کا تکمل درج ذیل ہو گا۔

$$\int_a^b f(x)\,\mathrm{d}x = \int_a^b c\,\mathrm{d}x = c(b-a)$$

مثال ۵.۳۲:

ا. $\int\limits_{-1}^{4} 3\,\mathrm{d}x = 3(4-(-1)) = (3)(5) = 15$

ب. $\int\limits_{-1}^{4} (-3)\,\mathrm{d}x = -3(4-(-1)) = (-3)(5) = -15$

□

غیر منفی تفاعل کی ترسیم کے نیچے رقبہ

گولا کی بلندی کا اندازہ لگانے کی خاطر مثال ۵.۲۲ میں مجموعہ کی ترکیب استعمال کی گئی جو وقفہ $[0,3]$ پر گولا کی تفاعل رفتار

$$v = f(t) = 160 - 9.8t$$

کے ریمان مجموعے تھے۔ شکل ۵.۳۰ میں t محور اور تفاعل $v = 160 - 9.8t$ کے بیچ رقبہ کو مستطیلوں سے ظاہر کرنا دکھایا گیا ہے۔ اس ذوزنقہ رقبہ کا قد 3 ، زیریں تلا 160 اور بالائی تلا 130.6 ہے۔ جیسے جیسے خانہ بندی کا معیار صفر تک پہنچتا ہے، اتنا اصل رقبہ پر مستطیل بہتر بیٹھتے ہیں۔ ذوزنقہ کا اصل رقبہ درج ذیل ہے۔

$$\text{رقبہ} = \text{قد} \cdot \frac{\text{زیریں تلہ} + \text{بالائی تلہ}}{2} = 3 \cdot \frac{130.6 + 160}{2} = 435.9$$

آپ کو یاد ہو گا کہ مثال ۵.۲۲ میں مجموعوں کی تحدیدی قیمت 435.6 تھی۔ ہم تکمل کی قیمت بھی معلوم کر سکتے ہیں:

$$\int_0^3 (160 - 9.8t)\,\mathrm{d}t = \text{رقبہ ذوزنقہ} = 435.9$$

ہم تکمل اور رقبہ کے تعلق کو دو طرح استعمال کر سکتے ہیں۔ جب ہمیں x محور اور استراری غیر منفی تفاعل $y = f(x)$ کے بیچ رقبہ کا کلیہ معلوم ہو تب ہم تکمل کی قیمت اس رقبہ سے حاصل کر سکتے ہیں۔ جب ہمیں رقبہ معلوم نہ ہو تب ہم تفاعل کے تکمل سے رقبہ تلاش کر سکتے ہیں۔

تعریف: فرض کریں وقفہ $[a,b]$ پر $f(x) \geq 0$ استراری ہے۔ تفاعل f کی ترسیم اور x محور کے بیچ رقبہ درج ذیل ہو گا۔

$$S = \int\limits_a^b f(x)\,\mathrm{d}x$$

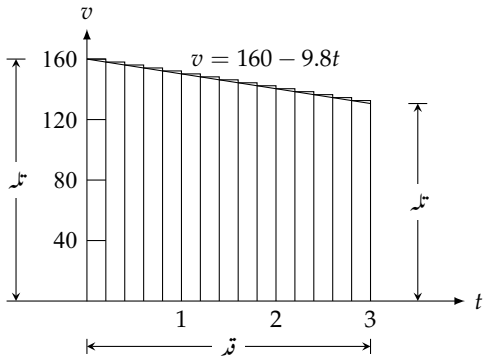

شکل ۵.۳۰: وقفہ $[0,3]$ پر سمتی رفتار تفاعل $v = 160 - 9.8t$ کے ریمان رقبہ کے لئے مستطیل۔

□

ہم نے درج بالا تعریف غیر معیاری اشکال کے لئے پیش کیا۔ کیا یہ تعریف معیاری اشکال کے لئے بھی کارآمد ہو گا؟ اس کا جواب ہے، ''جی ہاں''، البتہ یہ ثابت کرنا اتنا آسان نہیں ہے اور اس پر مزید بات نہیں کی جائے گی۔

مثال ۵.۳۳: رقبہ استعمال کرتے ہوئے تکمل کی قیمت کا تلاش

درج ذیل تکمل کی قیمت تلاش کریں۔

$$\int_a^b x\,\mathrm{d}x, \quad 0 < a < b$$

حل: ہم خطہ $a < x < b$ کے لئے $y = x$ ترسیم کرتے ہیں جس سے ذوزنقہ حاصل ہوتا ہے (شکل ۵.۳۱)۔ تکمل کی قیمت ذوزنقہ کی قیمت سے تلاش کرتے ہیں۔

$$\int_a^b x\,\mathrm{d}x = (b-a)\cdot\frac{a+b}{2} = \frac{b^2}{2} - \frac{a^2}{2}$$

یوں $a = 1$ اور $b = \sqrt{5}$ کی صورت میں درج ذیل ہو گا۔

$$\int_1^{\sqrt{5}} x\,\mathrm{d}x = \frac{(\sqrt{5})^2}{2} - \frac{1^2}{2} = 2$$

دھیان رہے کہ x کا الٹ تفرق $\frac{x^2}{2}$ ہے جو تکمل اور رقبہ کے تعلق کی طرف اشارہ ہے۔ □

مثال ۵.۳۴: قطعی تکمل سے رقبے کا حصول

قطع مکافی $y = x^2$ اور x محور کے بیچ وقفہ $[0,b]$ پر رقبہ تلاش کریں (شکل ۵.۳۲)۔

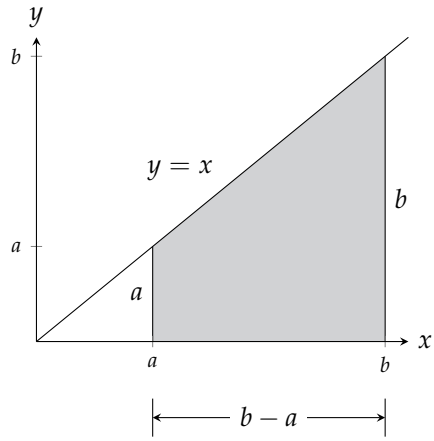

شکل ۵.۳۱: خطہ برائے مثال ۵.۳۳

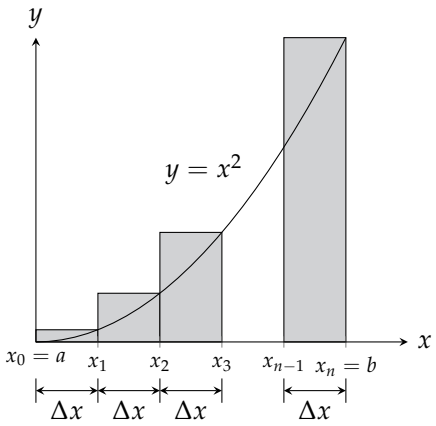

شکل ۵.۳۲: ریمان مجموعوں کے مستطیل (مثال ۵.۳۴)

۷۱۷۳ حل: ہم تکمل کی قیمت ریمان رقبوں کی حد سے حاصل کرتے ہیں۔ ہم (غیر معیاری) تفاعل کو ترسیم کر کے وقفہ $[0, b]$ کو n یکساں ذیلی وقفوں میں
۷۱۷۴ تقسیم کرتے ہیں۔ یوں ہر ذیلی وقفہ کی لمبائی $\Delta x = \frac{b-0}{n} = \frac{b}{n}$ ہو گی۔ خانہ بندی کے نقطے درج ذیل ہوں گے۔

$$x_0 = 0, \quad x_1 = \Delta x, \quad x_2 = 2\Delta x, \quad \cdots, \quad x_{n-1} = (n-1)\Delta x, \quad x_n = n\Delta x = b$$

۷۱۷۵ ہم جس طرح چاہیں c_k نقطے منتخب کر سکتے ہیں۔ ہم ہر ذیلی وقفہ کے دائیں سر نقطہ کو c_k منتخب کرتے ہیں۔ یوں $c_1 = x_1$ ، $c_2 = x_2$ ، وغیرہ ہو
۷۱۷۶ گا۔ منتخب کردہ نقطوں سے حاصل مستطیلوں کے رقبے درج ذیل ہیں۔

$$\begin{aligned}
f(c_1)\Delta x &= f(\Delta x)\Delta x = (\Delta x)^2\Delta x = (1^2)(\Delta x)^3 \\
f(c_2)\Delta x &= f(2\Delta x)\Delta x = (2\Delta x)^2\Delta x = (2^2)(\Delta x)^3 \\
&\vdots \\
f(c_n)\Delta x &= f(n\Delta x)\Delta x = (n\Delta x)^2\Delta x = (n^2)(\Delta x)^3
\end{aligned}$$

۷۱۷۷ ان رقموں کا مجموعہ درج ذیل ہے۔

$$\begin{aligned}
S_n &= \sum_{k=1}^{n} f(c_k)\Delta x \\
&= \sum_{k=1}^{n} k^2(\Delta x)^3 \\
&= (\Delta x)^3 \sum_{k=1}^{n} k^2 && (\Delta x)^3 \text{ مستقل ہے} \\
&= \frac{b^3}{n^3} \cdot \frac{n(n+1)(2n+1)}{6} && \Delta x = \frac{b}{n} \text{ مساوات ا میں} \\
&= \frac{b^3}{6} \cdot \frac{(n+1)(2n+1)}{n^2} \\
&= \frac{b^3}{6} \cdot \frac{2n^2+3n+1}{n^2} \\
&= \frac{b^3}{6} \cdot \left(2 + \frac{3}{n} + \frac{1}{n^2}\right)
\end{aligned}$$

۷۱۷۸ اب قطعی تکمل کی تعریف

$$\int_a^b f(x)\,\mathrm{d}x = \lim_{\|P\|\to 0} \sum_{k=1}^{n} f(c_k)\Delta x$$

۷۱۷۹ استعمال کرتے ہوئے $x = 0$ تا $x = b$ قطع مکافی کے نیچے رقبہ تلاش کرتے ہیں۔

$$\begin{aligned}
\int_0^b x^2\,\mathrm{d}x &= \lim_{n\to\infty} S_n && \text{یہاں } \|P\| \to 0 \text{ سے مراد } n \to \infty \text{ ہے} \\
&= \lim_{n\to\infty} \frac{b^3}{6} \cdot \left(2 + \frac{3}{n} + \frac{1}{n^2}\right) && \text{مذکورہ بالا مساوات} \\
&= \frac{b^3}{6} \cdot (2+0+0) = \frac{b^3}{3}
\end{aligned}$$

۷۱۸۰ یوں $b = 1$ اور $b = 1.5$ کی صورت میں درج ذیل جوابات حاصل ہوں گے۔

$$\int_0^1 x^2\,\mathrm{d}x = \frac{1^3}{3} = \frac{1}{3}, \quad \int_0^{1.5} x^2\,\mathrm{d}x = \frac{(1.5)^3}{3} = \frac{3.375}{3} = 1.125$$

۷۱۸۱ یہاں بھی دھیان رہے کہ x^2 کا الٹ تفرق $\frac{x^3}{3}$ ہے۔ □

۷۱۸۲ **سوالات**

۷۱۸۳ **سگما روپ**

۷۱۸۴ سوال ۵.۲۱۷ تا سوال ۵.۲۲۲ میں مجموعہ کو سگما روپ میں لکھنے کے بعد اس کی قیمت تلاش کریں۔

۷۱۸۵ سوال ۵.۲۱۷: $\sum_{k=1}^{2} \frac{6k}{k+1}$

۷۱۸۶

۷۱۸۷ سوال ۵.۲۱۸: $\sum_{k=1}^{3} \frac{k-1}{k}$

۷۱۸۸ سوال ۵.۲۱۹: $\sum_{k=1}^{4} \cos k\pi$

۷۱۸۹

۷۱۹۰ سوال ۵.۲۲۰: $\sum_{k=1}^{5} \sin k\pi$

۷۱۹۱ سوال ۵.۲۲۱: $\sum_{k=1}^{3} (-1)^{k+1} \sin \frac{\pi}{k}$

۷۱۹۲

۷۱۹۳ سوال ۵.۲۲۲: $\sum_{k=1}^{4} (-1)^{k} \cos k\pi$

۷۱۹۴ سوال ۵.۲۲۳: درج ذیل میں سے کونسی $1 + 2 + 4 + 8 + 16 + 32$ کی سگما علامتی روپ ہے۔

۷۱۹۵ ا. $\sum_{k=1}^{6} 2^{k-1}$ ۷۱۹۶ ب. $\sum_{k=0}^{5} 2^{k}$ ۷۱۹۷ ج. $\sum_{k=-1}^{4} 2^{k+1}$

۷۱۹۸ سوال ۵.۲۲۴: درج ذیل میں سے کونسی $1 - 2 + 4 - 8 + 16 - 32$ کی سگما علامتی روپ ہے۔

۷۱۹۹ ا. $\sum_{k=1}^{6} (-2)^{k-1}$ ۷۲۰۱ ب. $\sum_{k=0}^{5} (-1)^{k} 2^{k}$ ۷۲۰۲ ج. $\sum_{k=-2}^{3} (-1)^{k+1} 2^{k+2}$

۷۲۰۰

۷۲۰۳ سوال ۵.۲۲۵: درج ذیل میں سے کونسا کلیہ باقی دو کلیات سے مختلف ہے؟

۷۲۰۴ ا. $\sum_{k=2}^{4} \frac{(-1)^{k-1}}{k-1}$ ۷۲۰۵ ب. $\sum_{k=0}^{2} \frac{(-1)^{k}}{k+1}$ ۷۲۰۶ ج. $\sum_{k=-1}^{1} \frac{(-1)^{k}}{k+2}$

۷۲۰۷ سوال ۵.۲۲۶: درج ذیل میں سے کونسا کلیہ باقی دو کلیات سے مختلف ہے؟

۲۰۸ ا. $\sum_{k=1}^{4}(k-1)^2$ ۲۰۹ ب. $\sum_{k=-1}^{3}(k+1)^2$ ۲۱۰ ج. $\sum_{k=-3}^{-1}k^2$

۲۱۱ سوال ۵.۲۲۷ تا سوال ۵.۲۳۲ میں دیے مجموعوں کو سگما روپ میں لکھیں۔ آپ کے جواب کی صورت مجموعی سلسلہ کی زیریں حد پر منحصر ہو گا۔

۲۱۲ سوال ۵.۲۲۷: $1+2+3+4+5+6$

۲۱۳

۲۱۴ سوال ۵.۲۲۸: $1+4+9+16$

۲۱۵ سوال ۵.۲۲۹: $\frac{1}{2}+\frac{1}{4}+\frac{1}{8}+\frac{1}{16}$

۲۱۶

۲۱۷ سوال ۵.۲۳۰: $2+4+6+8+10$

۲۱۸ سوال ۵.۲۳۱: $1-\frac{1}{2}+\frac{1}{3}-\frac{1}{4}+\frac{1}{5}$

۲۱۹

۲۲۰ سوال ۵.۲۳۲: $-\frac{1}{5}+\frac{2}{5}-\frac{3}{5}+\frac{4}{5}-\frac{5}{5}$

۲۲۱ متناہی مجموعہ کی قیمت

۲۲۲ سوال ۵.۲۳۳: فرض کریں کہ $\sum_{k=1}^{n}a_k=-5$ اور $\sum_{k=1}^{n}b_k=6$ ہیں۔ درج ذیل کی قیمتیں تلاش کریں۔

۲۲۳ ا. $\sum_{k=1}^{n}3a_k$ ۲۲۵ ج. $\sum_{k=1}^{n}(a_k+b_k)$ ۲۲۷ ھ. $\sum_{k=1}^{n}(b_k-2a_k)$

۲۲۴ ب. $\sum_{k=1}^{n}\frac{b_k}{6}$ ۲۲۶ د. $\sum_{k=1}^{n}(a_k-b_k)$

۲۲۸ سوال ۵.۲۳۴: فرض کریں کہ $\sum_{k=1}^{n}a_k=0$ اور $\sum_{k=1}^{n}b_k=1$ ہیں۔ درج ذیل کی قیمتیں تلاش کریں۔

۲۲۹ ا. $\sum_{k=1}^{n}8a_k$ ۲۳۰ ب. $\sum_{k=1}^{n}250b_k$ ۲۳۱ ج. $\sum_{k=1}^{n}(a_k+1)$ ۲۳۲ د. $\sum_{k=1}^{n}(b_k-1)$

۲۳۳ سوال ۵.۲۳۵ تا سوال ۵.۲۴۴ میں دیے گئے الجبرائی فقروں کی قیمتوں کو صفحہ ۴۵۱ پر دیے گئے متناہی مجموعہ کے الجبرائی قواعد اور مساوات ۱ میں دیے کلیات کی
۲۳۴ مدد سے تلاش کریں۔

۲۳۵ سوال ۵.۲۳۵:

۲۳۶ ا. $\sum_{k=1}^{10}k$ ۲۳۷ ب. $\sum_{k=1}^{10}k^2$ ۲۳۸ ج. $\sum_{k=1}^{10}k^3$

۲۳۹ سوال ۵.۲۳۶:

۷۲۴۰ ا. $\sum_{k=1}^{13} k$ ۷۲۴۱ ب. $\sum_{k=1}^{13} k^2$ ۷۲۴۲ ج. $\sum_{k=1}^{13} k^3$

۷۲۴۳ سوال ۵.۲۳۷: $\sum_{k=1}^{7} (-2k)$

۷۲۴۴

۷۲۴۵ سوال ۵.۲۳۸: $\sum_{k=1}^{5} \frac{\pi k}{15}$

۷۲۴۶ سوال ۵.۲۳۹: $\sum_{k=1}^{6} (3 - k^2)$

۷۲۴۷

۷۲۴۸ سوال ۵.۲۴۰: $\sum_{k=1}^{6} (k^2 - 5)$

۷۲۴۹ سوال ۵.۲۴۱: $\sum_{k=1}^{5} k(3k + 5)$

۷۲۵۰

۷۲۵۱ سوال ۵.۲۴۲: $\sum_{k=1}^{7} k(2k + 1)$

۷۲۵۲ سوال ۵.۲۴۳: $\sum_{k=1}^{5} \frac{k^3}{225} + \left(\sum_{k=1}^{5} k\right)^3$

۷۲۵۳

۷۲۵۴ سوال ۵.۲۴۴: $\left(\sum_{k=1}^{7} k\right)^2 - \sum_{k=1}^{7} \frac{k^3}{4}$

۷۲۵۵

۷۲۵۶ **ریمان مجموعوں کے لئے مستطیلیں**

۷۲۵۷ سوال ۵.۲۴۵ تا سوال ۵.۲۴۸ میں تفاعل $f(x)$ کو دیے گئے وقفے پر ترسیم کریں۔ وقفے کی ایک جتنے لمبے چار ذیلی وقفوں میں خانہ بندی کریں۔ ترسیم پر
۷۲۵۸ ریمان مجموعہ $\sum_{k=1}^{4} f(c_k)\Delta x_k$ کے ساتھ وابستہ مستطیلیں دکھائیں جہاں k ویں ذیلی وقفہ کا (ا) بایاں سر نقطہ، (ب) دایاں سر نقطہ، (ج) وسطی نقطہ
۷۲۵۹ c_k ہے۔ (بائیں، دائیں اور وسطی نقطوں کے لئے علیحدہ علیحدہ ترسیم کھینچیں۔)

۷۲۶۰ سوال ۵.۲۴۵: $f(x) = x^2 - 1, \quad [0, 2]$

۷۲۶۱

۷۲۶۲ سوال ۵.۲۴۶: $f(x) = -x^2, \quad [0, 1]$

۷۲۶۳ سوال ۵.۲۴۷: $f(x) = \sin x, \quad [-\pi, \pi]$

۷۲۶۴

۷۲۶۵ سوال ۵.۲۴۸: $f(x) = \sin x + 1, \quad [-\pi, \pi]$

سوال ۵.۲۴۹: خانہ بندی $P = \{0, 1.2, 1.5, 2.3, 2.6, 3\}$ کا معیار تلاش کریں۔

سوال ۵.۲۵۰: خانہ بندی $P = \{-2, -1.6, -0.5, 0, 0.8, 1\}$ کا معیار تلاش کریں۔

حد کا بطور تکمل اظہار

سوال ۵.۲۵۱ تا سوال ۵.۲۵۸ میں دیے گئے حد کو بطور قطعی تکمل ظاہر کریں۔

سوال ۵.۲۵۱: $\lim\limits_{\|P\|\to 0} \sum\limits_{k=1}^{n} c_k^2 \Delta x_k$ جہاں $[0, 2]$ کی خانہ بندی P ہے۔

سوال ۵.۲۵۲: $\lim\limits_{\|P\|\to 0} \sum\limits_{k=1}^{n} 2c_k^3 \Delta x_k$ جہاں $[-1, 0]$ کی خانہ بندی P ہے۔

سوال ۵.۲۵۳: $\lim\limits_{\|P\|\to 0} \sum\limits_{k=1}^{n} (c_k^2 - 3c_k) \Delta x_k$ جہاں $[-7, 5]$ کی خانہ بندی P ہے۔

سوال ۵.۲۵۴: $\lim\limits_{\|P\|\to 0} \sum\limits_{k=1}^{n} \frac{1}{c_k} \Delta x_k$ جہاں $[1, 4]$ کی خانہ بندی P ہے۔

سوال ۵.۲۵۵: $\lim\limits_{\|P\|\to 0} \sum\limits_{k=1}^{n} \frac{1}{1-c_k} \Delta x_k$ جہاں $[2, 3]$ کی خانہ بندی P ہے۔

سوال ۵.۲۵۶: $\lim\limits_{\|P\|\to 0} \sum\limits_{k=1}^{n} \sqrt{4 - c_k^2} \Delta x_k$ جہاں $[0, 1]$ کی خانہ بندی P ہے۔

سوال ۵.۲۵۷: $\lim\limits_{\|P\|\to 0} \sum\limits_{k=1}^{n} (\sec c_k) \Delta x_k$ جہاں $[-\pi/4, 0]$ کی خانہ بندی P ہے۔

سوال ۵.۲۵۸: $\lim\limits_{\|P\|\to 0} \sum\limits_{k=1}^{n} (\tan c_k) \Delta x_k$ جہاں $[0, \pi/4]$ کی خانہ بندی P ہے۔

مستقل تفاعل

سوال ۵.۲۵۹ تا سوال ۵.۲۶۴ میں تکمل کی قیمت تلاش کریں۔

سوال ۵.۲۵۹: $\int_{-2}^{1} 5 \, \mathrm{d}x$

سوال ۵.۲۶۰: $\int_{3}^{7} (-20) \, \mathrm{d}x$

سوال ۵.۲۶۱: $\int_{0}^{3} (-160) \, \mathrm{d}t$

سوال ۵.۲۶۲: $\int_{-4}^{-1} \frac{\pi}{2} \, \mathrm{d}\theta$

۷۲۹۱ سوال ۵.۲۶۳: $\int_{-2.1}^{3.4} 0.5\,\mathrm{d}s$

۷۲۹۲

۷۲۹۳ سوال ۵.۲۶۴: $\int_{\sqrt{2}}^{\sqrt{18}} \sqrt{2}\,\mathrm{d}r$

۷۲۹۴ **رقبہ سے تکمل کی قیمت کا حصول**

۷۲۹۵ سوال ۵.۲۶۵ تا سوال ۵.۲۷۲ میں متکمل کو ترسیم کرتے ہوئے رقبہ سے تکمل کی قیمت حاصل کریں۔

۷۲۹۶ سوال ۵.۲۶۵: $\int_{-2}^{4} \left(\frac{x}{2}+3\right)\mathrm{d}x$

۷۲۹۷

۷۲۹۸ سوال ۵.۲۶۶: $\int_{1/2}^{3/2} (-2x+4)\,\mathrm{d}x$

۷۲۹۹ سوال ۵.۲۶۷: $\int_{-3}^{3} \sqrt{9-x^2}\,\mathrm{d}x$

۷۳۰۰

۷۳۰۱ سوال ۵.۲۶۸: $\int_{-4}^{0} \sqrt{16-x^2}\,\mathrm{d}x$

۷۳۰۲ سوال ۵.۲۶۹: $\int_{-2}^{1} |x|\,\mathrm{d}x$

۷۳۰۳

۷۳۰۴ سوال ۵.۲۷۰: $\int_{-1}^{1} (1-|x|)\,\mathrm{d}x$

۷۳۰۵ سوال ۵.۲۷۱: $\int_{-1}^{1} (2-|x|)\,\mathrm{d}x$

۷۳۰۶

۷۳۰۷ سوال ۵.۲۷۲: $\int_{-1}^{1} (1+\sqrt{1-x^2})\,\mathrm{d}x$

۷۳۰۸ سوال ۵.۲۷۳ تا سوال ۵.۲۷۶ میں تکمل کی قیمت کو رقبہ سے حاصل کریں۔

۷۳۰۹ سوال ۵.۲۷۳: $\int_{0}^{b} x\,\mathrm{d}x, \quad b>0$

۷۳۱۰

۷۳۱۱ سوال ۵.۲۷۴: $\int_{0}^{b} 4x\,\mathrm{d}x, \quad b>0$

۷۳۱۲ سوال ۵.۲۷۵: $\int_{a}^{b} 2s\,\mathrm{d}s, \quad 0<a<b$

۷۳۱۳

۷۳۱۴ سوال ۵.۲۷۶: $\int_{a}^{b} 3t\,\mathrm{d}t, \quad 0<a<b$

۷۳۱۵ **قیمت کی تلاش**

۷۳۱۶ سوال ۵.۲۷۷ تا سوال ۵.۲۸۸ میں دیے تکمل کی قیمت کو مثال ۵.۳۳ اور مثال ۵.۳۴ کے نتائج استعمال کرتے ہوئے تلاش کریں۔

۷۳۱۷ سوال ۵.۲۷۷: $\int_{1}^{\sqrt{2}} x\,\mathrm{d}x$

۷۳۱۸

سوال ۵.۲۷۸: $\int_{0.5}^{2.5} x \, \mathrm{d}x$

سوال ۵.۲۷۹: $\int_{\pi}^{2\pi} \theta \, \mathrm{d}\theta$

سوال ۵.۲۸۰: $\int_{\sqrt{2}}^{5\sqrt{2}} r \, \mathrm{d}r$

سوال ۵.۲۸۱: $\int_{0}^{\sqrt[3]{7}} x^2 \, \mathrm{d}x$

سوال ۵.۲۸۲: $\int_{0}^{0.3} s^2 \, \mathrm{d}s$

سوال ۵.۲۸۳: $\int_{0}^{1/2} t^2 \, \mathrm{d}t$

سوال ۵.۲۸۴: $\int_{0}^{\pi/2} \theta^2 \, \mathrm{d}\theta$

سوال ۵.۲۸۵: $\int_{0}^{2a} x \, \mathrm{d}x$

سوال ۵.۲۸۶: $\int_{a}^{\sqrt{3}a} x \, \mathrm{d}x$

سوال ۵.۲۸۷: $\int_{0}^{\sqrt[3]{b}} x^2 \, \mathrm{d}x$

سوال ۵.۲۸۸: $\int_{0}^{3b} x^2 \, \mathrm{d}x$

رقبے کی تلاش

سوال ۵.۲۸۹ تا سوال ۵.۲۹۲ میں وقفہ $[0, b]$ پر x محور اور دیے گئے تفاعل کے بیچ رقبہ قطعی تکمل کی مدد سے حاصل کریں۔

سوال ۵.۲۸۹: $y = 3x^2$

سوال ۵.۲۹۰: $y = \pi x^2$

سوال ۵.۲۹۱: $y = 2x$

سوال ۵.۲۹۲: $y = \frac{x}{2} + 1$

نظریہ اور مثالیں

سوال ۵.۲۹۳: درج ذیل تکمل کی قیمت زیادہ سے زیادہ کرنے کی خاطر درکار a اور b تلاش کریں۔ (اشارہ: متکمل کہاں مثبت ہے؟)

$$\int_a^b (x - x^2) \, \mathrm{d}x$$

سوال ۵.۲۹۴: درج ذیل تکمل کی قیمت کم سے کم کرنے کی خاطر درکار a اور b تلاش کریں۔

$$\int_a^b (x^4 - 2x^2)\,\mathrm{d}x$$

سوال ۵.۲۹۵: بڑھتے تفاعل کے بالائی اور زیریں مجموعے

(ا) فرض کریں کہ جیسے جیسے x وقفہ $[a,b]$ پر بائیں سے دائیں چلتا ہے، تفاعل $f(x)$ کی ترسیم بتدریج اوپر اٹھتی ہے۔ فرض کریں وقفہ $[a,b]$ کی n عدد یکساں لمبائیوں کے ذیلی وقفوں میں خانہ بندی P ہے جہاں ایک خانے کی لمبائی $\Delta x = \frac{b-a}{n}$ ہے۔ شکل ۵.۳۳ کو استعمال کرتے ہوئے دکھائیں کہ اس خانہ بندی پر f کے بالائی اور زیریں مجموعوں میں فرق کو ترسیمی طور پر مستطیل R سے ظاہر کیا جا سکتا ہے جس کی جسامت $[f(b) - f(a)]$ ضرب Δx ہے۔(اشارہ: فرق $H - L$ ان رقبوں کا مجموعہ ہے جن کے وتر $Q_0Q_1, Q_1Q_2, \cdots, Q_{n-1}Q_n$ اس ترسیم پر پائے جاتے ہیں۔ انہیں افقی مستطیل R پر منتقل کیا جا سکتا ہے۔)

(ب) فرض کریں ذیلی وقفوں کی لمبائیاں ایک دوسرے کے برابر نہیں ہیں بلکہ خانہ بندی $[a,b]$ پر مختلف ذیلی وقفوں کی لمبائی Δx_k مختلف ہے۔ اگر Δx_H خانہ بندی P کا معیار ہو تب دکھائیں کہ

$$H - L \leq \left|f(b) - f(a)\Delta x_H\right|$$

ہو گا لہٰذا $\lim_{\|P\|\to 0}(H - L) = 0$ ہو گا۔

سوال ۵.۲۹۶: گھٹتے تفاعل کے بالائی اور زیریں مجموعے

(ا) فرض کریں کہ جیسے جیسے x وقفہ $[a,b]$ پر بائیں سے دائیں چلتا ہے، تفاعل $f(x)$ کی ترسیم بتدریج نیچے گرتی ہے۔ سوال ۵.۲۹۵ کی طرح اس کا خاکہ بنائیں۔ فرض کریں وقفہ $[a,b]$ کی خانہ بندی P ہے جہاں تمام خانوں کی لمبائیاں ایک دوسری جیسی ہیں۔ سوال ۵.۲۹۵ کی طرح فرق $H - L$ تلاش کریں۔

(ب) فرض کریں کہ خانوں کی لمبائیاں ایک دوسرے کے برابر نہیں ہے بلکہ ہر Δx_k مختلف ہے۔ دکھائیں کہ سوال ۵.۲۹۵ کی عدم مساوات

$$H - L \leq \left|f(b) - f(a)\right|\Delta x_H$$

اب بھی کارآمد ہے لہٰذا $\lim_{\|P\|\to 0}(H - L) = 0$ ہو گا۔

سوال ۵.۲۹۷: تکمل $\int_0^b x^2\,\mathrm{d}x,\ b > 0$ کی قیمت مثال ۵.۳۴ کی طرز پر حاصل کریں البتہ اب ہر خانے کا بائیں سر نقطی قیمت استعمال کریں (شکل ۵.۳۴)۔

سوال ۵.۲۹۸: دکھائیں کہ مجموعہ

$$S_n = \frac{1}{n}\left[\frac{1}{n} + \frac{2}{n} + \frac{3}{n} + \cdots + \frac{n-1}{n}\right]$$

درحقیقت $\int_0^1 x\,\mathrm{d}x$ کا تخمینی رقبہ دیتا ہے۔ یوں حد $\lim_{n\to\infty} S_n$ تلاش کریں۔(اشارہ: وقفہ $[0,1]$ کا یکساں n ذیلی وقفوں میں تقسیم کرتے ہوئے ہر ذیلی وقفے کا بائیں سر نقطی قیمت استعمال کرتے ہوئے مطابقتی مستطیلوں کے رقبہ کا مجموعہ لکھیں۔)

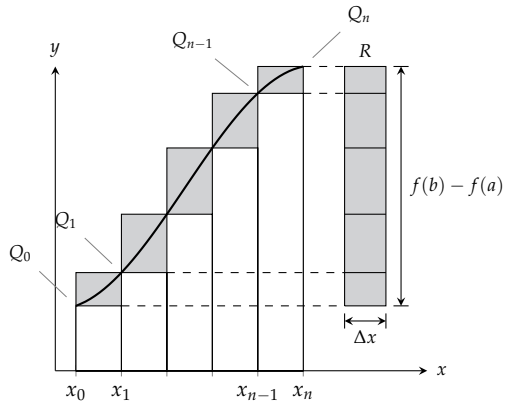

شکل ۵.۳۳: بالائی اور زیریں مجموعوں میں فرق $[f(b)-f(a)]\Delta x$ ہوگا۔

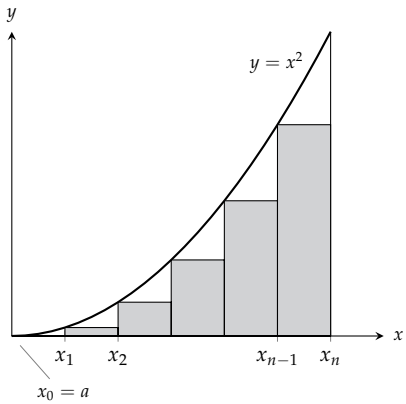

شکل ۵.۳۴: ریمان مستطیل برائے سوال ۵.۲۹۷

۳۶۹ سوال ۵.۲۹۹: درج ذیل

$$S_n = \frac{1^2}{n^3} + \frac{2^2}{n^3} + \frac{(n-1)^2}{n^3}$$

۳۷۰ کو

$$S_n = \frac{1}{n}\left[\left(\frac{1}{n}\right)^2 + \left(\frac{2}{n}\right)^2 + \cdots + \left(\frac{n-1}{n}\right)^2\right]$$

۳۷۱ روپ میں لکھیں جس کو $\int_0^1 x^2\,\mathrm{d}x$ کی تخمینی قیمت تصور کیا جا سکتا ہے۔ یوں حد $\lim_{n\to\infty} S_n$ تلاش کریں۔ (اشارہ: وقفہ $[0,1]$ کو n برابر
۳۷۲ لمبائیوں کے ذیلی وقفوں میں تقسیم کریں اور ہر خانے کے بائیں سر نقطی قیمت استعمال کرتے ہوئے مطابقتی مستطیلوں کے رقبوں کا مجموعہ لیں۔)

۳۷۳ سوال ۵.۳۰۰: درج ذیل کلیہ استعمال

$$\sin h + \sin 2h + \sin 3h + \cdots + \sin mh = \frac{\cos(h/2) - \cos(m+1/2)h}{2\sin(h/2)}$$

۳۷۴ کرتے ہوئے $y=\sin x$ کے نیچے $x=0$ تا $x=\pi/2$ رقبہ درج ذیل دو اقدام سے تلاش کریں۔

۳۷۵ ا. وقفہ $[0,\pi/2]$ کو n برابر لمبائیوں کی ذیلی وقفوں میں تقسیم کرتے ہوئے مطابقتی بالائی مجموعہ H تلاش کریں۔

۳۷۶ ب. $\Delta x = \frac{b-a}{n} \to 0$ اور $n \to \infty$ کرتے ہوئے H کا حد تلاش کریں۔

۳۷۷ کمپیوٹر کا استعمال

۳۷۸ سوال ۵.۳۰۱ تا سوال ۵.۳۰۶ میں دیے گئے تکمل پر مرکوز ریمان مجموعوں کے ساتھ منسلک مستطیلوں کو کمپیوٹر پر بنائیں۔ ذیلی وقفوں کی تعداد
۳۷۹ $n = 4, 10, 20, 50$ لیں اور ان کی لمبائیاں ایک دوسرے کے برابر لیں۔

۳۸۰ سوال ۵.۳۰۱: $\int_0^1 (1-x)\,\mathrm{d}x = \frac{1}{2}$

۳۸۱ سوال ۵.۳۰۲: $\int_0^1 (x^2+1)\,\mathrm{d}x = \frac{4}{3}$

۳۸۲ سوال ۵.۳۰۳: $\int_{-\pi}^{\pi} \cos x\,\mathrm{d}x = 0$

۳۸۳ سوال ۵.۳۰۴: $\int_0^{\pi/4} \sec^2 x\,\mathrm{d}x = 1$

۳۸۴ سوال ۵.۳۰۵: $\int_{-1}^{1} |x|\,\mathrm{d}x = 1$

۳۸۵ سوال ۵.۳۰۶: $\int_1^2 \frac{1}{x}\,\mathrm{d}x = \ln 2$

۳۸۶ سوال ۵.۳۰۷: (ا) مجموعہ S_n جس کو سوال ۵.۲۹۸ میں پیش کیا گیا ہے کو سگما علامتی روپ میں لکھ کر کمپیوٹر استعمال کرتے ہوئے $\lim_{n\to\infty} S_n$
۳۸۷ تلاش کریں۔ (ب) سوال ۵.۲۹۹ میں دیے گئے S_n کے لئے دوبارہ حل کریں۔

۳۸۸ سوال ۵.۳۰۸: مجموعہ $\sin h + \sin 2h + \cdots \sin mh$ جسے سوال ۵.۳۰۰ میں پیش کیا گیا ہے کو سگما علامتی روپ میں لکھ کر کمپیوٹر کی
۳۸۹ مدد سے $\lim_{n\to\infty} S_n$ تلاش کریں۔

۳۹۰ سوال ۵.۳۰۹: بائیں نقطی قیمتیں استعمال کرتے ہوئے مثال ۵.۲۳ کے مجموعہ کی سگما علامتی روپ درج ذیل ہے۔

$$S_4 = \sum_{k=1}^{4} 4[9-(-2+(k-1))^2]$$

۳۹۱ ا. سگما علامتی روپ استعمال کرتے ہوئے بائیں نقطی مجموعہ S_8 اور S_{25} لکھیں جہاں ہر خانے کی لمبائی بالترتیب $\frac{4}{8}$ اور $\frac{4}{25}$ ہو گی۔

۳۹۲ ب. سگما علامتی روپ استعمال کرتے ہوئے بائیں نقطی مجموعہ S_n لکھیں جو n خانوں پر مشتمل ہے اور جہاں ہر خانے کی لمبائی $\frac{4}{n}$ ہے۔

۳۹۳ ج. حد $\lim_{n\to\infty} S_n$ تلاش کریں۔ اس حد کا ٹھوس جسم کے حجم کے ساتھ کیا تعلق ہے؟

۳۹۴ سوال ۵.۳۱۰: بائیں سر نقطی قیمت مجموعہ برائے مثال ۵.۲۴ درج ذیل ہے۔

$$S_8 = \sum_{k=1}^{8} \pi[16-(-1+(k-1))^2]$$

۳۹۵ ا. بائیں سر نقطی مجموعہ S_{16} اور S_{80} کو سگما علامتی روپ میں لکھیں جہاں ہر خانے کی لمبائی بالترتیب $\frac{1}{2}$ اور $\frac{1}{10}$ ہو گی۔

۳۹۶ ب. بائیں سر نقطی مجموعہ S_n کو سگما علامتی روپ میں لکھیں جہاں ہر خانے کی لمبائی $\frac{8}{n}$ اور خانوں کی تعداد n ہو گی۔

۳۹۷ ج. حد $\lim_{n\to\infty} S_n$ تلاش کریں۔ اس حد کا ٹھوس جسم کے حجم کے ساتھ کیا تعلق ہو گا؟

۳۹۸

۳۹۹

۵.۶ خصوصیات، رقبہ، اور اوسط قیمت مسئلہ

اس حصہ میں تکمل کے قواعد اور تکمل کا رقبے کے ساتھ تعلق پر غور کیا جائے گا۔ اس کے علاوہ اوسط قیمت پر دوبارہ غور کیا جائے گا۔

قطعی تکمل کے خواص

ہم عموماً قطعی تکملوں کا مجموعہ اور فرق حاصل کرنا چاہتے ہیں یا متکمل کو مستقل سے ضرب دینا چاہتے ہیں یا ان کا موازنہ دیگر قطعی تکمل کے ساتھ کرنا چاہتے ہیں۔ ہم ایسا درج ذیل قواعد کے تحت کرتے ہیں۔

قواعد برائے قطعی تکمل

۱. صفر: $\int_a^a f(x)\,\mathrm{d}x = 0$ (تعریف)

۲. تکمل کی ترتیب: $\int_b^a f(x)\,\mathrm{d}x = -\int_a^b f(x)\,\mathrm{d}x$ (تعریف)

۳. مستقل مضرب: $\int_a^b kf(x)\,\mathrm{d}x = k\int_a^b f(x)\,\mathrm{d}x$ (k کوئی بھی عدد ہو سکتا ہے)

$$(k=-1) \quad \int_a^b -f(x)\,\mathrm{d}x = -\int_a^b f(x)\,\mathrm{d}x$$

۴. مجموعہ اور فرق: $\int_a^b (f(x) \mp g(x))\,\mathrm{d}x = \int_a^b f(x)\,\mathrm{d}x \mp \int_a^b g(x)\,\mathrm{d}x$

۵. جمع پذیری: $\int_a^b f(x)\,\mathrm{d}x + \int_b^c f(x)\,\mathrm{d}x = \int_a^c f(x)\,\mathrm{d}x$

۶. کم سے کم اور زیادہ سے زیادہ عدم مساوات: اگر وقفہ $[a,b]$ پر f کی زیادہ سے زیادہ قیمت f_H اور کم سے کم قیمت f_L ہو تب درج ذیل ہو گا:

$$f_L \cdot (b-a) \leq \int_a^b f(x)\,\mathrm{d}x \leq f_H \cdot (b-a)$$

۷. غلبہ: اگر $[a,b]$ پر $f(x) \geq g(x)$ ہو تب درج ذیل ہو گا۔

$$\int_a^b f(x)\,\mathrm{d}x \geq \int_a^b g(x)\,\mathrm{d}x$$

اگر $[a,b]$ پر $f(x) \geq 0$ ہو تب درج ذیل ہو گا۔

$$\int_a^b f(x)\,\mathrm{d}x \geq 0$$

ماسوائے پہلے دو قواعد کے تمام کو قطعی تکمل کی تعریف بذریعہ ریمان مجموعہ سے حاصل کیا جا سکتا ہے۔ آپ کا خیال ہو گا کہ ان قواعد کے ثبوت نہایت آسان ہوں گے۔ چونکہ ریمان مجموعہ یہ خواص رکھتا ہے لہٰذا آپ سوچتے ہوں گے کہ مجموعہ کا حد بھی یہی خواص رکھتا ہو گا۔ حقیقت میں ثبوت پیش کرتے ہوئے ذیلی وقفوں کے معیار کے $\epsilon - \delta$ کے پیچیدہ دلائل درکار ہوں گے۔ یقیناً ان قواعد کے ثبوت اتنے آسان نہیں ہیں۔ ہم صرف دو قواعد کے ثبوت پیش کرتے ہیں۔ باقی قواعد کے ثبوت اعلیٰ کتابوں میں پائے جاتے ہیں۔

$$\int_a^b f(x)\,\mathrm{d}x + \int_b^c f(x)\,\mathrm{d}x = \int_a^c f(x)\,\mathrm{d}x$$
$$\int_b^c f(x)\,\mathrm{d}x = \int_a^c f(x)\,\mathrm{d}x - \int_a^b f(x)\,\mathrm{d}x$$

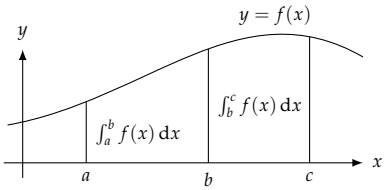

شکل ۵.۳۵: قطعی تکمل کی جمع پذیری

دھیان رہے کہ قاعدہ 1 درحقیقت ایک تعریف ہے۔ ہم چاہیں گے کہ صفر لمبائی کے تمام تکمل کی قیمت صفر ہو۔ پہلا قاعدہ قطعی تکمل کی تعریف کو وسعت دیتے ہوئے $a = b$ کی صورت کو بھی ممکن بناتا ہے۔ قاعدہ 2 بھی تعریف ہے جو قطعی تکمل کی تعریف کو وسعت دیتے ہوئے $b < a$ کی صورت کو بھی ممکن بناتا ہے۔ قاعدہ 3 اور قاعدہ 4 حد اور غیر قطعی تکمل کے مماثل قواعد کی طرح ہیں۔ دو تفاعل کے تکمل جانتے ہوئے ہم ان کے تمام مستقل مضرب، مجموعہ اور فرق کے تکمل جانتے ہیں۔ ہم قاعدہ 3 اور 4 کو بار بار استعمال کرتے ہوئے اختیاری قابل تکمل تفاعل کے کسی بھی متناہی خطی میل کا جزو در جزو تکمل حاصل کر سکتے ہیں۔ کسی بھی مستقل $c_1, \cdot c_n$ جن کی علامتیں کچھ بھی ہو سکتی ہیں، اور وقفہ $[a, b]$ پر قابل تکمل تفاعل $f_1(x), \cdots, f_n(x)$ کے لئے درج ذیل ہو گا

$$\int_a^b (c_1 f_1(x) + \cdots + c_n f_n(x))\,\mathrm{d}x = c_1 \int_a^b f_1(x)\,\mathrm{d}x + \cdots + c_n \int_a^n f_n(x)\,\mathrm{d}x$$

جس کا ثبوت، جو ریاضی ماخوذ سے حاصل کیا جا سکتا ہے، کو یہاں پیش نہیں کیا جائے گا۔

شکل ۵.۳۵ میں مثبت تفاعل کے لئے قاعدہ 5 دکھایا گیا ہے جو کسی بھی تفاعل کے لئے درست ہے۔

ثبوت: **قاعدہ 3**

قاعدہ 3 کے تحت تفاعل ضرب k کا تکمل تفاعل کا تکمل ضرب k ہو گا۔ یہ درج ذیل وجہ کے تحت درست ہے۔

$$\begin{aligned}
\int_a^b kf(x)\,\mathrm{d}x &= \lim_{\|P\|\to 0} \sum_{i=1}^n kf(c_i)\Delta x_i \\
&= \lim_{\|P\|\to 0} k \sum_{i=1}^n f(c_i)\Delta x_i \\
&= k \lim_{\|P\|\to 0} \sum_{i=1}^n f(c_i)\Delta x_i \\
&= k \int_a^b f(x)\,\mathrm{d}x
\end{aligned}$$

□

۷۳۳۰ ثبوت: قاعدہ 6

۷۳۳۱ قاعدہ 6 کہتا ہے کہ $[a, b]$ پر تکمل کی قیمت کبھی بھی f کی کم سے کم قیمت ضرب لمبائی وقفہ سے کم نہیں ہو گی اور نا ہی یہ کبھی f کی زیادہ سے زیادہ قیمت

۷۳۳۲ ضرب لمبائی وقفہ سے زیادہ ہو گی۔ اس کی وجہ یہ ہے کہ $[a, b]$ کی کسی بھی خانہ بندی اور c_k کی کسی بھی انتخاب کے لئے درج ذیل ہو گا۔

$$\begin{aligned} f_L \cdot (b-a) &= f_L \cdot \sum_{k=1}^{n} \Delta x_k \\ &= \sum_{k=1}^{n} f_L \cdot \Delta x_k \\ &\leq \sum_{k=1}^{n} f(c_k) \Delta x_k \\ &\leq f_H \cdot \Delta x_k \\ &= f_H \cdot \sum_{k=1}^{n} \Delta x_k \\ &= f_H \cdot (b-a) \end{aligned}$$

۷۳۳۳ مختصراً وقفہ $[a, b]$ پر f کے تمام ریمان مجموعے درج ذیل کو مطمئن کرتے ہیں

$$f_L \cdot (b-a) \leq \sum_{k=1}^{n} f(c_k) \Delta x_k \leq f_H \cdot (b-a)$$

۷۳۳۴ لہٰذا ان کا حد، یعنی تکمل، بھی اس شرط کو مطمئن کرتا ہو گا۔

۷۳۳۵ □

۷۳۳۶ مثال ۵.۳۵: درج ذیل فرض کرتے ہوئے

$$\int_{-1}^{1} f(x)\,\mathrm{d}x = 5, \quad \int_{1}^{4} f(x)\,\mathrm{d}x = -2, \quad \int_{-1}^{1} h(x)\,\mathrm{d}x = 7$$

۷۳۳۷ درج ذیل ہوں گا۔

۱.

$$\int_{4}^{1} = -\int_{1}^{4} f(x)\,\mathrm{d}x = -(-2) = 2 \qquad \text{قاعدہ 2}$$

۲.

$$\begin{aligned} \int_{-1}^{1} [2f(x) + 3h(x)]\,\mathrm{d}x &= 2\int_{-1}^{1} f(x)\,\mathrm{d}x + 3\int_{-1}^{1} h(x)\,\mathrm{d}x \\ &= 2(5) + 3(7) = 31 \qquad \text{قاعدہ 3 اور قاعدہ 4} \end{aligned}$$

.۳

$$\int_{-1}^{4} f(x)\,\mathrm{d}x = \int_{-1}^{1} f(x)\,\mathrm{d}x + \int_{1}^{4} f(x)\,\mathrm{d}x = 5 + (-2) = 3 \qquad \text{قاعدہ 5}$$

۷۳۳۸ □

۷۳۳۹ ہم نے حصہ ۵.۵ میں درج ذیل تین عمومی تکملات کا حصول سیکھا۔

$$\int_a^b c\,\mathrm{d}x = c(b-a) \qquad (c\ \text{مستقل}) \tag{۱}$$

$$\int_a^b x\,\mathrm{d}x = \frac{b^2}{2} - \frac{a^2}{2} \qquad (0 < a < b) \tag{۲}$$

$$\int_0^b x^2\,\mathrm{d}x = \frac{b^3}{3} \qquad (b < 0) \tag{۳}$$

۷۳۴۰ صفحہ ۴۷۳ پر دیے گئے قواعد استعمال کرتے ہوئے درج بالا نتائج کو وسعت دی جا سکتی ہے۔

۷۳۴۱ مثال ۵.۳۶: قیمت تلاش کریں: $\int_0^2 (\frac{t^2}{4} - 7t + 5)\,\mathrm{d}t$

۷۳۴۲ حل:

$$\begin{aligned}
\int_0^2 \left(\frac{t^2}{4} - 7t + 5\right)\mathrm{d}t &= \frac{1}{4}\int_0^2 t^2\,\mathrm{d}t - 7\int_0^2 t\,\mathrm{d}t + \int_0^2 5\,\mathrm{d}t && \text{قاعدہ 3 اور قاعدہ 4} \\
&= \frac{1}{4}\left(\frac{2^3}{3}\right) - 7\left(\frac{2^2}{2} - \frac{0^2}{2}\right) + 5(2-0) && \text{مساوات ۱ تا مساوات ۳} \\
&= \frac{2}{3} - 14 + 10 = -\frac{10}{3}
\end{aligned}$$

۷۳۴۳ □

۷۳۴۴ مثال ۵.۳۷: قیمت تلاش کریں: $\int_2^3 x^2\,\mathrm{d}x$

۷۴۴۵ حل:

$$\int_0^2 x^2\,\mathrm{d}x + \int_2^3 x^2\,\mathrm{d}x = \int_0^3 x^2\,\mathrm{d}x \qquad \text{قاعدہ 5}$$

$$\int_2^3 x^2\,\mathrm{d}x = \int_0^3 x^2\,\mathrm{d}x - \int_0^2 x^2\,\mathrm{d}x \qquad \text{درج بالا حل کریں}$$

$$= \frac{3^2}{3} - \frac{2^3}{3} \qquad \text{مساوات ۳}$$

$$= \frac{27}{3} - \frac{8}{3} = \frac{19}{3}$$

۷۴۴۶ □

۷۴۴۷ ہم $\int_2^3 x^2\,\mathrm{d}x$ کے حل پر مزید غور حصہ ۵.۷ میں کریں گے۔

۷۴۴۸ قطعی تکمل کا کم سے کم اور زیادہ سے زیادہ عدم مساوات (کمتر بلند تر عدم مساوات، قاعدہ 6) کہتا ہے کہ $\int_a^b f\,\mathrm{d}x$ کا $f_L \cdot (b-a)$ کم سے کم حد ہے
۷۴۴۹ جبکہ $f_H \cdot (b-a)$ زیادہ سے زیادہ حد ہے۔

۷۴۵۰ مثال ۵.۳۸: دکھائیں کہ $\int_0^1 \sqrt{1+\cos x}\,\mathrm{d}x$ کی قیمت 2 نہیں ہو سکتی ہے۔

۷۴۵۱ حل: وقفہ $[0,1]$ پر $\sqrt{1+\cos x}$ کی زیادہ سے زیادہ (بلند تر) قیمت $\sqrt{1+1} = \sqrt{2}$ ہے لہٰذا

$$\int_0^1 \sqrt{1+\cos x}\,\mathrm{d}x \le \sqrt{1+\cos x}_{\text{بلند تر}} \cdot (1-0) \qquad \text{قاعدہ 6}$$

$$\le \sqrt{2}\cdot 1 = \sqrt{2}$$

۷۴۵۲ تکمل کی قیمت $\sqrt{2}$ سے زیادہ نہیں ہو سکتی ہے لہٰذا تکمل 2 نہیں ہو سکتا ہے۔ □

۷۴۵۳ مثال ۵.۳۹: عدم مساوات $\cos x \ \ge\ (1 - x^2/2)$ تمام x کے لئے درست ہے۔ تکمل $\int_0^1 \cos x\,\mathrm{d}x$ کی کم سے کم (کمتر) قیمت
۷۴۵۴ تلاش کریں۔

۷۴۵۵ حل:

$$\int_0^1 \cos x\,\mathrm{d}x \ge \int_0^1 \left(1 - \frac{x^2}{2}\right)\mathrm{d}x \qquad \text{قاعدہ 7}$$

$$\ge \int_0^1 1\,\mathrm{d}x - \frac{1}{2}\int_0^1 x^2\,\mathrm{d}x \qquad \text{قاعدہ 3، قاعدہ 4}$$

$$\ge 1\cdot(1-0) - \frac{1}{2}\cdot\frac{(1)^3}{3} = \frac{5}{6} \approx 0.83$$

۷۴۵۶ تکمل کی قیمت کم از کم $\frac{5}{6}$ کے برابر ہے۔ □

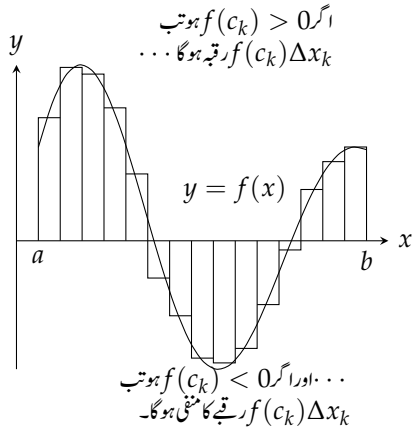

(ا) ریمان مجموعہ رقبوں کا الجبرائی مجموعہ ہے اور دونوں کی تحدیدی قیمت تکمل ہے۔

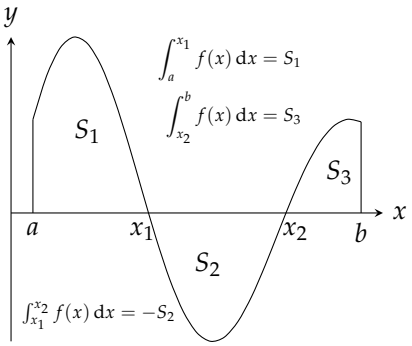

(ب) a تا b تفاعل f کا تکمل درج ذیل ہو گا۔

$$\int_a^b = \int_a^{x_1} + \int_{x_1}^{x_2} + \int_{x_2}^{b} = S_1 - S_2 + S_3$$

شکل ۵.۳۶: تکمل اور کل رقبہ کا تعلق۔

تکمل اور کل رقبہ

اگر وقفہ $[a, b]$ پر $y = f(x)$ قابل تکمل تفاعل ہو جس کی قیمت کہیں مثبت اور کہیں منفی ہو تب $[a, b]$ پر f کا ریمان مجموعہ x محور کے بالائی جانب مستطیلوں کے رقبوں اور x محور کے نیچے جانب مستطیلوں کے رقبوں کی منفی قیمتوں کا مجموعہ ہو گا (شکل ۵.۳۶)۔ چونکہ مثبت اور منفی مقداریں ایک دوسرے کو کاٹتی ہیں لہٰذا اس مجموعے کی تحدیدی قیمت تفاعل اور x محور کے بیچ کل رقبہ سے کم ہو گی۔ تکمل کی قیمت محور سے اوپر جانب رقبہ منفی محور سے نیچے جانب رقبہ کے برابر ہو گی۔

اس کا مطلب ہے کہ رقبہ کو تکمل سے حاصل کرتے ہوئے دھیان رکھنا ہو گا۔

مثال ۵.۴۰: وقفہ $0 \le x \le 3$ پر منحنی $y = 4 - x^2$ اور x محور کے بیچ رقبہ تلاش کریں۔

حل: x پر وقفہ $[0, 3]$ کو منحنی دو خانوں میں تقسیم کرتی ہے۔ ایک خانے میں $f(x) = 4 - x^2$ کی قیمت مثبت اور دوسرے خانے میں منفی ہے (شکل ۵.۳۷)۔ منحنی اور x محور کے بیچ رقبہ تلاش کرنے کی خاطر ہم ان خانوں پر تکمل لے کر جوابات کی مطلق قیمتوں کو جمع کرتے ہیں۔

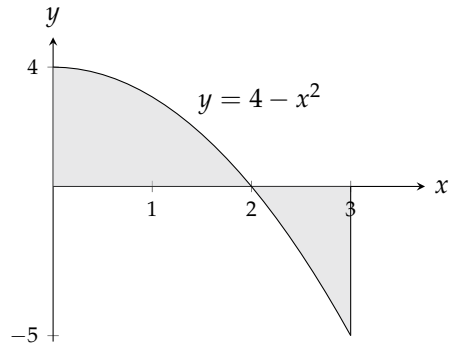

شکل ۵.۳۷: کچھ رقبہ x محور سے اوپر اور کچھ اس سے نیچے پایا جاتا ہے (مثال ۵.۴۰)۔

۷۴۶۶ وقفہ $[0,2]$ پر تکمل:

$$\begin{aligned}\int_0^2 (4-x^2)\,\mathrm{d}x &= \int_0^2 4\,\mathrm{d}x - \int_0^2 x^2\,\mathrm{d}x \\ &= 4(2-0) - \frac{(2)^3}{3} && \text{مساوات ۱ اور مساوات ۳} \\ &= 8 - \frac{8}{3} = \frac{16}{3}\end{aligned}$$

۷۴۶۷ وقفہ $[2,3]$ پر تکمل:

$$\begin{aligned}\int_2^3 (4-x^2)\,\mathrm{d}x &= \int_2^3 4\,\mathrm{d}x - \int_2^3 x^2\,\mathrm{d}x \\ &= 4(3-2) - \left(\frac{(3)^2}{3} - \frac{(2)^3}{3}\right) && \text{مساوات ۱ اور مثال ۵.۳۷} \\ &= 4 - \frac{19}{3} = -\frac{7}{3}\end{aligned}$$

۷۴۶۸ کل رقبہ $\frac{16}{3} + \left|-\frac{7}{3}\right| = \frac{23}{3}$ ہوگا۔ □

۷۴۶۹ **اختیاری استمراری تفاعل کی اوسط قیمت**

۷۴۷۰ ہم نے مثال ۵.۲۵ میں غیر منفی استمراری تفاعل کی اوسط قیمت پر تبصرہ کیا۔ ہم اب f کا غیر منفی ہونے کی شرط کو ختم کرتے ہوئے تفاعل کی اوسط قیمت کی
۷۴۷۱ تعریف پیش کرنے کے قابل ہیں۔ ہم دیکھیں گے کہ ہر استمراری تفاعل کم از کم ایک بار اپنی اوسط قیمت اختیار کرتا ہے۔

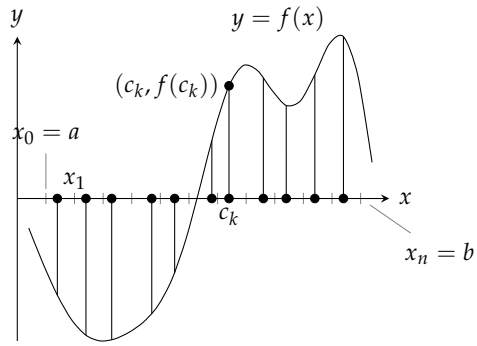

شکل ۵.۳۸: وقفہ $[a, b]$ پر تفاعل کی نمونی قیمتیں۔

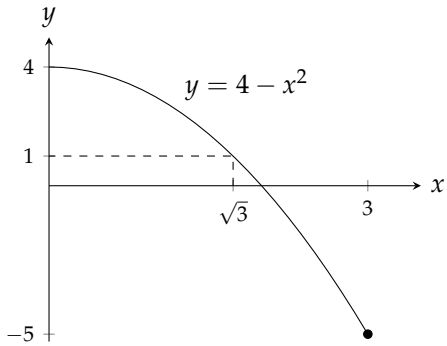

شکل ۵.۳۹: وقفہ $[0, 3]$ پر تفاعل $f = 4 - x^2$ کی اوسط قیمت 1 کو تفاعل $x = \sqrt{3}$ پر اختیار کرتا ہے (مثال ۵.۴۱)۔

۷۴۷۲ ہم دوبارہ ریاضیات سے اوسط قیمت کا تصور لیتے ہیں جہاں n اعداد کی انفرادی قیمتوں کے مجموعہ کو n سے تقسیم کرنے سے اعداد کی اوسط قیمت حاصل ہوتی
۷۴۷۳ ہے۔ بند وقفہ $[a, b]$ پر استمراری تفاعل f کے لئے لامتناہی تعداد کے اعداد کو لینا ہو گا لیکن ہم یکساں وقفوں پر تفاعل سے نمونہ حاصل کر سکتے ہیں۔ ہم
۷۴۷۴ $[a, b]$ کو برابر لمبائیوں کے n ذیلی وقفوں میں تقسیم کرتے ہیں۔ یوں ایک ذیلی وقفے کی لمبائی $\Delta x = \frac{b-a}{n}$ ہو گی۔ ہم ہر ذیلی وقفے پر f کی قیمت
۷۴۷۵ نقطہ c_k پر حاصل کرتے ہیں (شکل ۵.۳۸)۔ ان n نمونوں کی اوسط قیمت درج ذیل ہو گی۔

$$\begin{aligned}
\frac{f(c_1) + f(c_2) + \cdots + f(c_n)}{n} &= \frac{1}{n} \cdot \sum_{k=1}^{n} f(c_k) && \text{مجموعہ کی سگمارو پ} \\
&= \frac{\Delta x}{b-a} \cdot \sum_{k=1}^{n} f(c_k) && \Delta x = \frac{b-a}{n} \\
&= \frac{1}{b-a} \cdot \underbrace{\sum_{k=1}^{n} f(c_k)\Delta x}_{f \text{ پر } [a,b] \text{ کا ریمان مجموعہ}}
\end{aligned}$$

۷۴۷۶ یوں نمونی قیمتوں کی اوسط قیمت ہر صورت $[a, b]$ پر f کا ریمان مجموعہ ضرب $\frac{1}{b-1}$ ہو گی۔ ہم جیسے جیسے نمونہ کی جسامت (تعداد) بڑھاتے جائیں اور
۷۴۷۷ خانہ بندی کے معیار کو صفر کے قریب تر کریں، یہ اوسط قیمت $\frac{1}{b-a}\int_a^b f(x)\,\mathrm{d}x$ تک پہنچے گی۔ اس نتیجہ سے ہمیں درج ذیل تعریف ملتی ہے۔

۷۴۷۸ تعریف: اگر $[a, b]$ پر f قابل تکمل تفاعل ہو تب $[a, b]$ پر f کی **اوسط قیمت**[۳۰] درج ذیل ہو گی۔

$$f_{\text{اوسط}} = \frac{1}{b-a}\int_a^b f(x)\,\mathrm{d}x$$

۷۴۷۹ □

[۳۰] average(mean)value

مثال ۵.۴۱: وقفہ $[0,3]$ پر $f(x) = 4 - x^2$ کی اوسط قیمت تلاش کریں۔ کیا دیے گئے وقفے میں کسی نقطے پر f کی قیمت اس اوسط جتنی ہو گی؟

حل:

$$\begin{aligned} f_{\text{اوسط}} &= \frac{1}{b-a}\int_a^b f(x)\,\mathrm{d}x \\ &= \frac{1}{3-0}\int_0^3 (4-x^2)\,\mathrm{d}x = \frac{1}{3}\Big(\int_0^3 4\,\mathrm{d}x - \int_0^3 x^2\,\mathrm{d}x\Big) \\ &= \frac{1}{3}\Big(4(3-0) - \frac{(3)^3}{3}\Big) = \frac{1}{3}(12-9) = 1 \end{aligned}$$

وقفہ $[0,3]$ پر f کی اوسط قیمت 1 ہے۔ تفاعل کی قیمت یہی تب ہو گی جب $4 - x^2 = 1$ ہو گا جس سے $x = \mp\sqrt{3}$ ملتے ہیں۔ چونکہ ان دو نقطوں میں سے صرف $x = \sqrt{3}$ وقفہ $[0,3]$ پر پایا جاتا ہے لہٰذا دیے گئے وقفے میں $x = \sqrt{3}$ پر f کی قیمت اوسط قیمت 1 کے برابر ہو گی (شکل ۵.۳۹)۔ □

اوسط قیمت مسئلہ برائے قطعی تکملات

بند وقفہ پر استمراری تفاعل کی قیمت، بند وقفہ پر کم از کم ایک بار، تفاعل کی اوسط قیمت کے برابر ہو گی۔ اس فقرے کو قطعی تکملات کا اوسط قیمت مسئلہ کہتے ہیں۔

مسئلہ ۵.۲: **مسئلہ اوسط قیمت برائے قطعی تکملات**

اگر $[a,b]$ پر f قابل تکمل ہو تب $[a,b]$ میں کسی نقطہ c پر درج ذیل ہو گا (شکل ۵.۴۰)۔

$$f(c) = \frac{1}{b-a}\int_a^b f(x)\,\mathrm{d}x$$

ہم نے مثال ۵.۴۱ میں f کو حاصل اوسط قیمت کے برابر پر کرتے ہوئے x کی وہ قیمت تلاش کی جہاں تفاعل اپنی اوسط قیمت اختیار کرتا ہے۔ البتہ اس سے یہ حقیقت ثابت نہیں ہوتی ہے کہ ایسا نقطہ موجود ہونا لازمی ہے۔ اس سے صرف اتنا ثابت ہوتا ہے کہ مثال ۵.۴۱ میں ایسا نقطہ موجود تھا۔ مسئلہ ۵.۲ ثابت کرنے کی خاطر ہمیں زیادہ عمومی دلیل درکار ہو گی۔

ثبوت: **برائے مسئلہ ۵.۲**

اگر ہم قاعدہ 6 میں (کمتر بلند تر قاعدہ) دونوں اطراف کو $(b-a)$ سے تقسیم کریں تب درج ذیل حاصل ہوتا ہے۔

$$f_L \le \frac{1}{b-a}\int_a^b f(x)\,\mathrm{d}x \le f_H$$

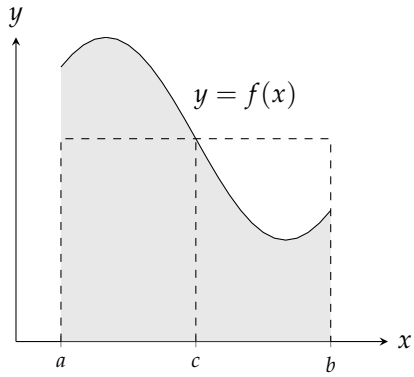

شکل ۵.۴۰: وقفہ $[a, b]$ کے کسی نقطہ c پر $f(c) \cdot (b-1) = \int_a^b f(x)\,\mathrm{d}x$ ہو گا۔

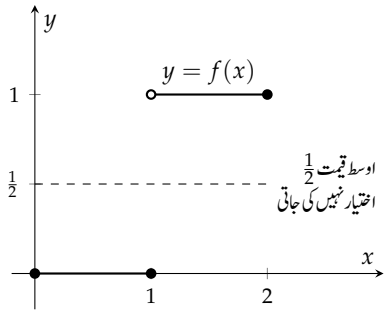

شکل ۵.۴۱: غیر استمراری تفاعل ضروری نہیں کہ اوسط قیمت اختیار کرے۔

۷۳۹۶ چونکہ f استمراری ہے لہٰذا استمراری تفاعل کے مسئلہ ۲.۹ کے تحت تفاعل f_L اور f_H کے بیچ تمام قیمتیں اختیار کرے گا۔ اس طرح f ہر صورت وقفہ
۷۳۹۷ $[a, b]$ میں کسی نقطہ c پر $\frac{1}{b-a}\int_a^b f(x)\,\mathrm{d}x$ قیمت بھی اختیار کرے گا۔

۷۳۹۸ □

۷۳۹۹ تفاعل کا استمراری ہونا یہاں ضروری ہے۔ غیر استمراری تفاعل اپنی اوسط قیمت کے اوپر سے چھلانگ لگا کر گزر سکتا ہے (شکل ۵.۴۱)۔

۷۵۰۰ ہم مسئلہ ۵.۲ سے مزید کیا جان سکتے ہیں؟ ایک مثال دیکھتے ہیں۔

۷۵۰۱ مثال ۵.۴۲: اگر $[a, b]$ پر f قابل تکمل ہو جہاں $a \neq b$ ہے اور اگر

$$\int_a^b f(x)\,\mathrm{d}x = 0$$

۷۵۰۲ ہو تب $[a, b]$ میں کم از کم ایک بار $f(x) = 0$ ہو گا۔

۷۵۰۳ حل: وقفہ $[a, b]$ پر f کی اوسط قیمت درج ذیل ہو گی۔

$$f_{\text{اوسط}} = \frac{1}{b-a}\int_a^b f(x)\,\mathrm{d}x = \frac{1}{b-a}\cdot 0 = 0$$

۷۵۰۴ مسئلہ ۵.۲ کے تحت $[a, b]$ میں کسی نقطہ c پر f یہی اوسط قیمت اختیار کرے گا۔ □

۷۵۰۵ **سوالات**

۷۵۰۶ **معلوم خواص اور قیمتوں سے دیگر تکملات کی قیمتوں کا حصول**

۷۵۰۷ سوال ۵.۳۱۱: فرض کریں f اور g استمراری ہیں اور درج ذیل تکملات دیے گئے ہیں۔

$$\int_1^2 f(x)\,\mathrm{d}x = -4, \quad \int_1^5 f(x)\,\mathrm{d}x = 6, \quad \int_1^5 g(x)\,\mathrm{d}x = 8$$

۷۵۰۸ صفحہ ۷۳۴ پر دیے گئے قواعد استعمال کرتے ہوئے درج ذیل تلاش کریں۔

۷۵۰۹ ا. $\int_2^2 g(x)\,\mathrm{d}x$ ۷۵۱۱ ج. $\int_1^2 3f(x)\,\mathrm{d}x$ ۷۵۱۳ ھ. $\int_1^5 [f(x) - g(x)]\,\mathrm{d}x$

۷۵۱۰ ب. $\int_5^1 g(x)\,\mathrm{d}x$ ۷۵۱۲ د. $\int_2^5 f(x)\,\mathrm{d}x$ ۷۵۱۴ و. $\int_1^5 [4f(x) - g(x)]\,\mathrm{d}x$

۷۵۱۵ سوال ۵.۳۱۲: فرض کریں f اور f استمراری ہیں اور درج ذیل دیے گئے ہیں۔

$$\int_1^9 f(x)\,\mathrm{d}x, \quad \int_7^9 f(x)\,\mathrm{d}x, \quad \int_7^9 h(x)\,\mathrm{d}x = 4$$

۷۵۱۶ صفحہ ۷۳۴ پر دیے گئے قواعد استعمال کرتے ہوئے درج ذیل تلاش کریں۔

۷۵۱۷ ا. $\int_1^9 -2f(x)\,\mathrm{d}x$ ۷۵۱۹ ج. $\int_7^9 [2f(x) - 3h(x)]\,\mathrm{d}x$ ۷۵۲۱ ھ. $\int_1^7 f(x)\,\mathrm{d}x$

۷۵۱۸ ب. $\int_7^9 [f(x) + h(x)]\,\mathrm{d}x$ ۷۵۲۰ د. $\int_9^1 f(x)\,\mathrm{d}x$ ۷۵۲۲ و. $\int_9^7 [h(x) - f(x)]\,\mathrm{d}x$

۷۵۲۳ سوال ۵.۳۱۳: فرض کریں $\int_1^2 f(x)\,\mathrm{d}x = 5$ دیا گیا ہے۔ درج ذیل تلاش کریں۔

۷۵۲۴ ا. $\int_1^2 f(u)\,\mathrm{d}u$ ۷۵۲۶ ج. $\int_2^1 f(t)\,\mathrm{d}t$ ۷۵۲۷ د. $\int_1^2 [-f(x)]\,\mathrm{d}x$

۷۵۲۵ ب. $\int_1^2 \sqrt{3}f(z)\,\mathrm{d}z$

۷۵۲۸ سوال ۵.۳۱۴: فرض کریں $\int_{-3}^0 g(t)\,\mathrm{d}t = \sqrt{2}$ دیا گیا ہے۔ درج ذیل تلاش کریں۔

۷۵۲۹ ا. $\int_0^{-3} g(t)\,\mathrm{d}t$ ۷۵۳۰ ب. $\int_{-3}^0 g(u)\,\mathrm{d}u$ ۷۵۳۱ ج. $\int_{-3}^0 [-g(x)]\,\mathrm{d}x$ ۷۵۳۲ د. $\int_{-3}^0 \frac{g(r)}{\sqrt{2}}\,\mathrm{d}r$

۷۵۳۳ سوال ۵.۳۱۵: فرض کریں f استمراری ہے جبکہ $\int_0^3 f(z)\,\mathrm{d}z = 3$ اور $\int_0^4 f(z)\,\mathrm{d}z = 7$ دیے گئے ہیں۔ درج ذیل تلاش کریں۔

۷۵۳۴ ا. $\int_3^4 f(z)\,\mathrm{d}z$ ۷۵۳۵ ب. $\int_4^3 f(t)\,\mathrm{d}t$

۷۵۳۶ سوال ۵.۳۱۶: فرض کریں h استمراری ہے جبکہ $\int_{-1}^1 h(r)\,\mathrm{d}r = 0$ اور $\int_{-1}^3 h(r)\,\mathrm{d}r = 6$ دیے گئے ہیں۔ درج ذیل تلاش
۷۵۳۷ کریں۔

۷۵۳۸ ا. $\int_1^3 h(r)\,\mathrm{d}r$ ۷۵۳۹ ب. $-\int_3^1 h(u)\,\mathrm{d}u$

۷۵۴۰ سوال ۵.۳۱۷ تا سوال ۵.۳۲۸ میں دیے تکمل کی قیمت تلاش کریں۔

۷۵۴۱ سوال ۵.۳۱۷: $\int_3^1 7\,\mathrm{d}x$
۷۵۴۲

۷۵۴۳ سوال ۵.۳۱۸: $\int_0^{-2} \sqrt{2}\,\mathrm{d}x$

۷۵۴۴ سوال ۵.۳۱۹: $\int_0^2 5x\,\mathrm{d}x$
۷۵۴۵

۷۵۴۶ سوال ۵.۳۲۰: $\int_3^5 \frac{x}{8}\,\mathrm{d}x$

۷۵۴۷ سوال ۵.۳۲۱: $\int_0^2 (2t-3)\,\mathrm{d}t$
۷۵۴۸

۷۵۴۹ سوال ۵.۳۲۲: $\int_0^{\sqrt{2}} (t-\sqrt{2})\,\mathrm{d}t$

۷۵۵۰ سوال ۵.۳۲۳: $\int_2^1 (1+\frac{z}{2})\,\mathrm{d}z$
۷۵۵۱

۷۵۵۲ سوال ۵.۳۲۴: $\int_3^0 (2z-3)\,\mathrm{d}z$

۷۵۵۳ سوال ۵.۳۲۵: $\int_1^2 3u^2\,\mathrm{d}u$
۷۵۵۴

۷۵۵۵ سوال ۵.۳۲۶: $\int_{1/2}^1 24u^2\,\mathrm{d}u$

۷۵۵۶ سوال ۵.۳۲۷: $\int_0^2 (3x^2+x-5)\,\mathrm{d}x$
۷۵۵۷

۷۵۵۸ سوال ۵.۳۲۸: $\int_1^0 (3x^2+x-5)\,\mathrm{d}x$

۷۵۵۹ **رقبے**

۷۵۶۰ سوال ۵.۳۲۹ تا سوال ۵.۳۳۲ میں سایہ دار رقبہ تلاش کریں۔

۷۵۶۱ سوال ۵.۳۲۹: $x=0$ تا $x=2$ کے مابین منحنی $y=x^2-1$ اور y محور کے بیچ رقبہ (شکل ۵.۴۲)۔
۷۵۶۲

۷۵۶۳ سوال ۵.۳۳۰: رقبہ شکل ۵.۴۳ میں دکھایا گیا ہے۔

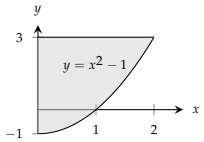

شکل ۵.۴۲: رقبہ سوال ۵.۳۲۹

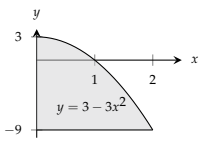

شکل ۵.۴۳: رقبہ سوال ۵.۳۳۰

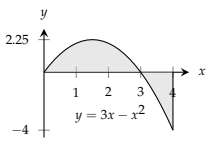

شکل ۵.۴۴: رقبہ سوال ۵.۳۳۱

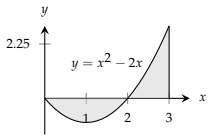

شکل ۵.۴۵: رقبہ سوال ۵.۳۳۲

سوال ۵.۳۳۱: رقبہ شکل ۵.۴۴ میں دکھایا گیا ہے۔

سوال ۵.۳۳۲: رقبہ شکل ۵.۴۵ میں دکھایا گیا ہے۔

سوال ۵.۳۳۳ تا سوال ۵.۳۳۶ میں دیے گئے وقفہ پر تفاعل ترسیم کریں۔ اس کے بعد (ا) دیے وقفے پر تفاعل تکمل کریں، اور (ب) تفاعل اور x محور کے بیچ رقبہ تلاش کریں۔

سوال ۵.۳۳۳: $y = x^2 - 6x + 8, \quad [0, 3]$

سوال ۵.۳۳۴: $y = -x^2 + 5x - 4, \quad [0, 2]$

سوال ۵.۳۳۵: $y = 2x - x^2, \quad [0, 3]$

سوال ۵.۳۳۶: $y = x^2 - 4x, \quad [0, 5]$

اوسط قیمت

سوال ۵.۳۳۷ تا سوال ۵.۳۴۴ میں دیے گئے وقفے پر تفاعل ترسیم کرتے ہوئے اس وقفے پر تفاعل کی اوسط قیمت تلاش کریں۔ دیے گئے وقفہ پر کس نقطہ یا نقطوں پر تفاعل کی قیمت اس کی اوسط قیمت کے برابر ہو گی؟

سوال ۵.۳۳۷: $f(x) = x^2 - 1, \quad [0, \sqrt{3}]$

سوال ۵.۳۳۸: $f(x) = -\frac{x^2}{2}, \quad [0, 3]$

سوال ۵.۳۳۹: $f(x) = -3x^2 - 1, \quad [0, 1]$

سوال ۵.۳۴۰: $f(x) = 3x^2 - 3, \quad [0, 1]$

سوال ۵.۳۴۱: $f(t) = (t - 1)^2, \quad [0, 3]$

سوال ۵.۳۴۲: $f(t) = t^2 - t, \quad [-2, 1]$

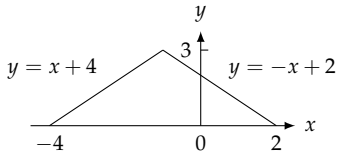

شکل ۵.۴۶

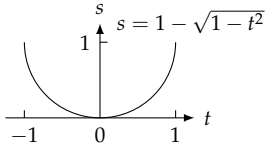

شکل ۵.۴۷

سوال ۵.۳۴۳: (ا) $[0,3]$ (ب) $[1,3]$ (ج) $[-1,3]$ $g(x) = |x| - 1,$

سوال ۵.۳۴۴: (ا) $[-1,0]$ (ب) $[0,1]$ (ج) $[-1,1]$ $h(x) = -|x|\,,$

سوال ۵.۳۴۵ تا سوال ۵.۳۴۸ دیے گئے وقفہ پر تفاعل کی اوسط قیمت (بغیر تکمل) تلاش کریں۔

سوال ۵.۳۴۵:

$$f(x) = \begin{cases} x+4, & -4 \le x \le -1 \\ -x+2, & -1 < x \le 2 \end{cases} \qquad [-4,2]$$

شکل ۵.۴۶

سوال ۵.۳۴۶: وقفہ $[-1,1]$ پر تفاعل $f(t) = 1 - \sqrt{1-t^2}$ جس کو شکل ۵.۴۷ میں دکھایا گیا ہے۔

سوال ۵.۳۴۷: وقفہ $[0,2\pi]$ پر تفاعل $f(t) = \sin t$ دیا گیا ہے۔

سوال ۵.۳۴۸: وقفہ $[-\frac{\pi}{4}, \frac{\pi}{4}]$ پر تفاعل $f(\theta) = \tan\theta$ دیا گیا ہے۔

نظریہ اور مثالیں

سوال ۵.۳۴۹: کم سے کم اور زیادہ سے زیادہ عدم مساوات استعمال کرتے ہوئے درج ذیل کی قیمت کے لئے بالائی اور زیریں حد تلاش کریں۔

$\int_0^1 \frac{1}{1+x^2}\,\mathrm{d}x$

سوال ۵.۳۵۰: کم سے کم اور زیادہ سے زیادہ عدم مساوات استعمال کرتے ہوئے درج ذیل کی قیمت کے لئے بالائی اور زیریں حد تلاش کریں۔

$$\int_0^{0.5} \frac{1}{1+x^2}\,\mathrm{d}x, \quad \int_{0.5}^1 \frac{1}{1+x^2}\,\mathrm{d}x$$

انہیں استعمال کرتے ہوئے درج ذیل کی قیمت کا بہتر اندازہ حاصل کریں۔

$$\int_0^1 \frac{1}{1+x^2}\,\mathrm{d}x$$

سوال ۵.۳۵۱: دکھائیں کہ $\int_0^1 \sin(x^2)\,\mathrm{d}x$ کی قیمت کسی صورت 2 نہیں ہو سکتی ہے۔

سوال ۵.۳۵۲: دکھائیں کہ $\int_0^1 \sqrt{x+8}\,\mathrm{d}x$ کی قیمت $2\sqrt{2}$ اور 3 کے بیچ پائی جاتی ہے۔

سوال ۵.۳۵۳: فرض کریں f استراری ہے اور $\int_1^2 f(x)\,\mathrm{d}x = 4$ دیا گیا ہے۔ دکھائیں کہ $[1,2]$ پر کم از کم ایک بار $f(x) = 4$ ہو گا۔

سوال ۵.۳۵۴: فرض کریں $[a,b]$ پر f اور g استراری ہیں جہاں $a \neq b$ ہے۔ مزید $\int_a^b (f(x) - g(x))\,\mathrm{d}x = 0$ دیا گیا ہے۔ دکھائیں کہ $[a,b]$ میں کم از کم ایک بار $f(x) = g(x)$ ہو گا۔

سوال ۵.۳۵۵: غیر منفی تفاعل کا تکمل

کمتر بلند تر عدم مساوات استعمال کرتے ہوئے درج ذیل دکھائیں جہاں f قابل تکمل ہے۔

$$f(x) \geq 0, \quad [a,b] \quad \xRightarrow{\text{سے مراد}} \quad \int_a^b f(x)\,\mathrm{d}x \geq 0$$

سوال ۵.۳۵۶: غیر مثبت تفاعل کا تکمل

درج ذیل دکھائیں جہاں f قابل تکمل ہے۔

$$f(x) \leq 0, \quad [a,b] \quad \xRightarrow{\text{سے مراد}} \quad \int_a^b f(x)\,\mathrm{d}x \leq 0$$

سوال ۵.۳۵۷: عدم مساوات $\sin x \leq x$ کسی بھی $x \geq 0$ کے لئے درست ہے۔ تکمل $\int_0^1 \sin x\,\mathrm{d}x$ کی قیمت کی بالائی حد تلاش کریں۔

سوال ۵.۳۵۸: وقفہ $\left(-\frac{\pi}{2}, \frac{\pi}{2}\right)$ پر عدم مساوات $\sec x \geq 1 + \frac{x^2}{2}$ درست ہے۔ اس کو استعمال کرتے ہوئے $\int_0^1 \sec x\,\mathrm{d}x$ کی قیمت کی زیریں حد تلاش کریں۔

سوال ۵.۳۵۹: اگر $[a,b]$ پر قابل تکمل f کی عمومی قیمت $f_{\text{اوسط}}$ ہو تب $[a,b]$ پر عدد $f_{\text{اوسط}}$ اور f کے تکمل کی قیمتیں ایک دوسرے جیسی ہوں گی۔ کیا ایسا ہوتا ہے؟ کیا درج ذیل درست ہے؟ اپنے جواب کی وجہ پیش کریں۔

$$\int_a^b f_{\text{اوسط}}\,\mathrm{d}x = \int_a^b f\,\mathrm{d}x$$

سوال ۵.۳۶۰: کیا اچھا ہوتا کہ وقفہ $[a,b]$ پر قابل تکمل تفاعل کی اوسط قیمت درج ذیل قواعد پر پورا اترتی۔

ا. $(f+g)_{\text{اوسط}} = f_{\text{اوسط}} + g_{\text{اوسط}}$

ب. $(kf)_{\text{اوسط}} = k(f_{\text{اوسط}})$

ج. $f(x) \leq g(x)$ اگر $f_{\text{اوسط}} \leq g_{\text{اوسط}}$

سوال ۵.۳۶۱: اگر $150\ \mathrm{km}$ فاصلہ طے کرتے ہوئے آپ کی اوسط رفتار $30\ \mathrm{km\,h^{-1}}$ اور واپسی اسی راہ کو طے کرتے ہوئے آپ کی اوسط رفتار $50\ \mathrm{km\,h^{-1}}$ ہو تب دونوں اطراف کو ملا کر آپ کی اوسط رفتار کتنی ہو گی؟

سوال ۵.۳۶۲: ایک ڈیم سے $10\ \mathrm{m^3\,min^{-1}}$ کی شرح سے $1000\ \mathrm{m^3}$ پانی خارج کیا گیا اور اس کے بعد $20\ \mathrm{m^3\,min^{-1}}$ کی شرح سے مزید $1000\ \mathrm{m^3}$ پانی خارج کیا گیا۔ پانی خارج کرنے کی اوسط شرح دریافت کریں۔

۵.۷ بنیادی مسئلہ

اُس حصہ میں تکملی احصاء کا بنیادی مسئلہ پیش کیا جائے گا جو تکمل اور تفرق کا تعلق پیش کرتا ہے۔ اس مسئلہ نے ریاضیات میں بہت زیادہ ترقی کو ممکن بنایا جس نے اگلے دو صدیوں تک سائنس میں ہلچل مچا دی۔ انسانی تاریخ میں اس مسئلہ کی دریافت کو سب سے زیادہ اہم تصور کیا جاتا ہے۔ لبنٹز اور نیوٹن نے علیحدہ علیحدہ اس مسئلہ کو دریافت کیا۔

بنیادی مسئلہ، جزو اول

قابل تکمل تفاعل $f(t)$ کا مقررہ عدد a سے عدد x تک تکمل از خود ایک تفاعل F ہو گا جس کی x پر قیمت درج ذیل ہو گی۔

$$F(x) = \int_a^x f(t)\,\mathrm{d}t \tag{۱}$$

مثال کے طور پر اگر f غیر منفی ہو اور a کے دائیں جانب x پایا جاتا ہو تب a تا x ترسیم کے نیچے رقبہ $F(x)$ ہو گا۔ تکمل کا بالائی حد x ہے اور F کسی بھی حقیقی متغیر کے حقیقی قیمت تفاعل کی طرح ایک تفاعل ہے۔ یوں متغیر x کی ہر قیمت کے لئے $F(x)$ ایک مخصوص قیمت دیگا جو a تا x تفاعل f کا تکمل ہو گا۔

نئے تفاعل متعارف کرنے کی ایک اہم ترکیب مساوات ادیتی ہے جو تفرقی مساوات کا حل بھی دیتی ہے (جس پر کچھ دیر میں غور کیا جائے گا)۔ مساوات ا کا یہاں ذکر کرنا اس لئے ضروری ہے کہ یہ تکمل اور تفرق کے بیچ تعلق بیان کرتی ہے۔ یوں اگر f کوئی بھی استمراری تفاعل ہو تب F متغیر x کا قابل تفرق تفاعل ہو گا جس کا تفرق f ہو گا۔ اس طرح ہر x پر درج ذیل ہو گا۔

$$\frac{\mathrm{d}}{\mathrm{d}x}F(x) = \frac{\mathrm{d}}{\mathrm{d}x}\int_a^x f(t)\,\mathrm{d}t = f(x)$$

یہ تصور اتنا اہم ہے کہ یہ احصاء کے بنیادی مسئلہ کا پہلا جزو دیتا ہے۔

مسئلہ ۵.۳: احصاء کا بنیادی مسئلہ، جزو اول

اگر $[a,b]$ پر f استمراری ہو تب $[a,b]$ کے ہر نقطہ پر $F(x) = \int_a^x f(t)\,\mathrm{d}t$ کا درج ذیل تفرق پایا جائے گا۔

$$\frac{\mathrm{d}F}{\mathrm{d}x} = \frac{\mathrm{d}}{\mathrm{d}x}\int_a^x f(t)\,\mathrm{d}t = f(x), \quad a \le x \le b \tag{۲}$$

یہ نتیجہ خوبصورت، طاقتور اور حیران کن ہے اور عین ممکن ہے کہ مساوات ۲ پوری ریاضیات میں اہم ترین مساوات ہو۔ یہ کہتی ہے کہ ہر استمراری تفاعل f کے لئے تفرقی مساوات $\frac{\mathrm{d}F}{\mathrm{d}x} = f$ کا حل موجود ہے۔ یہ کہتی ہے کہ ہر استمراری تفاعل f کسی دوسرے تفاعل، یعنی $\int_a^x f(t)\,\mathrm{d}t$، کا تفرق ہے۔ یہ کہتی ہے کہ ہر استمراری تفاعل کا الٹ تفرق پایا جاتا ہے۔ اور یہ کہتی ہے کہ تکمل اور تفرق کے عمل ایک دوسرے کے الٹ ہیں۔

ثبوت: **برائے مسئلہ ۳۔۵**

ہم تفرق کی تعریف کو تفاعل $F(x)$ پر لاگو کرتے ہوئے اس مسئلہ کو ثابت کرتے ہیں۔ یوں ہم درج ذیل حاصل تقسیم

$$\frac{F(x+h)-F(x)}{h} \tag{۳}$$

لکھ کر دکھاتے ہیں کہ $h \to 0$ کرتے ہوئے اس کا حد $f(x)$ ملتا ہے۔

مساوات ۳ میں $F(x+h)$ اور $F(x)$ کی تکملی روپ پر کرنے سے شمار کنندہ درج ذیل صورت اختیار کرتا ہے۔

$$F(x+h)-F(x) = \int_a^{x+h} f(t)\,\mathrm{d}t - \int_a^x f(t)\,\mathrm{d}t$$

صفحہ ۴۷۳ پر جمع پذیری کا قاعدہ برائے تکملات دائیں ہاتھ کی درج ذیل سادہ روپ دیتی ہے

$$\int_x^{x+h} f(t)\,\mathrm{d}t$$

لہٰذا مساوات ۳ درج ذیل صورت اختیار کرتی ہے۔

$$\begin{aligned}\frac{F(x+h)-F(x)}{h} &= \frac{1}{h}[F(x+h)-F(x)]\\ &= \frac{1}{h}\int_x^{x+h} f(t)\,\mathrm{d}t\end{aligned} \tag{۴}$$

مسئلہ اوسط قیمت برائے قطعی تکملات (مسئلہ ۵.۲) کے تحت مساوات ۴ میں دی گئی آخری تعلق کی قیمت، وقفہ x تا $x+h$ پر f کی کسی ایک قیمت کے برابر ہو گی۔ یوں اس وقفہ میں کسی عدد c پر درج ذیل ہو گا۔

$$\frac{1}{h}\int_x^{x+h} f(t)\,\mathrm{d}t = f(c) \tag{۵}$$

یوں $h \to 0$ کرتے ہوئے $\frac{1}{h}$ ضرب تکمل $\int_x^{x+h} f(t)\,\mathrm{d}t$ کی قیمت جاننے کی لئے ہم $h \to 0$ کرتے ہوئے $f(c)$ کی قیمت پر نظر رکھتے ہیں۔

جیسے جیسے $h \to 0$ ہوتا ہے ویسے ویسے وقفے کا سر $x+h$ اس کے سر x کے قریب سے قریب ہوتا جاتا ہے جس کی وجہ سے c بھی x کے قریب سے قریب تر ہوتا جاتا ہے۔ چونکہ x پر f استمراری ہے لہٰذا $f(c)$ کی قیمت $f(x)$ کے قریب سے قریب پہنچتی ہے:

$$\lim_{h\to 0} f(c) = f(x) \tag{۶}$$

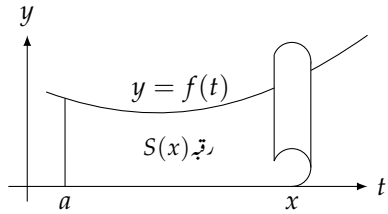

شکل ۵.۴۸: نقطہ x پر زمین کو قالین شرح $\frac{\mathrm{d}A}{\mathrm{d}x} = f(x)$ سے ڈھانپتا ہے۔

۷۶۶۴ دوبارہ شروع سے بات کرتے ہیں۔ یوں درج ذیل لکھا جا سکتا ہے۔

$$\begin{aligned}
\frac{\mathrm{d}F}{\mathrm{d}x} &= \lim_{h\to 0}\frac{F(x+h)-F(x)}{h} && \text{تفرق کی تعریف}\\
&= \lim_{h\to 0}\frac{1}{h}\int_x^{x+h} f(t)\,\mathrm{d}t && \text{مساوات ۴}\\
&= \lim_{h\to 0} f(c) && \text{مساوات ۵}\\
&= f(x) && \text{مساوات ۶}
\end{aligned}$$

۷۶۶۵ یوں ثبوت مکمل ہوتا ہے۔

۷۶۶۶ □

۷۶۶۷ اگر f کی قیمتیں مثبت ہوں تب درج ذیل مساوات

$$\frac{\mathrm{d}}{\mathrm{d}x}\int_a^x f(t)\,\mathrm{d}t = f(x)$$

۷۶۶۸ کی ایک خوبصورت جیومیٹریائی معنی اخذ کی جا سکتی ہے۔ چونکہ تب a تا x تفاعل f کا تکمل a تا x محور x اور f کے بیچ رقبہ ہو گا۔ فرض کریں کہ آپ
۷۶۶۹ اس رقبہ پر بائیں سے دائیں چلتے ہوئے ایک قالین بچھاتے ہیں جس کی متغیر چوڑائی $f(t)$ ہو۔ جب قالین نقطہ x سے گزرتا ہے اس لمحہ زمین ڈھانپنے کی
۷۶۷۰ شرح $f(x)$ ہو گی (شکل ۵.۴۸)۔

۷۶۷۱ مثال ۵.۴۳:

$$\begin{aligned}
\frac{\mathrm{d}}{\mathrm{d}x}\int_{-\pi}^x \cos t\,\mathrm{d}t &= \cos x && \text{مساوات ۲ میں } f(t)=\cos t\\
\frac{\mathrm{d}}{\mathrm{d}x}\int_0^x \frac{1}{1+t^2}\,\mathrm{d}t &= \frac{1}{1+x^2} && \text{مساوات ۲ میں } f(t)=\tfrac{1}{1+t^2}
\end{aligned}$$

۷۶۷۲ □

۷۶۷۳ مثال ۵.۴۴: اگر $y = \int_1^{x^2} \cos t \, \mathrm{d}t$ ہو تب $\frac{\mathrm{d}y}{\mathrm{d}t}$ کیا ہو گا؟

۷۶۷۴ حل: دھیان رہے کہ تکمل کا بالائی حد x^2 ہے نا کہ x لہٰذا $\frac{\mathrm{d}y}{\mathrm{d}t}$ تلاش کرتے ہوئے y کو

$$y = \int_1^u \cos t \, \mathrm{d}t \quad \text{اور} \quad u = x^2$$

۷۶۷۵ کا مرکب تصور کر کے زنجیری قاعدہ استعمال کرنا ہو گا:

$$\begin{aligned}
\frac{\mathrm{d}y}{\mathrm{d}x} &= \frac{\mathrm{d}y}{\mathrm{d}u}\frac{\mathrm{d}u}{\mathrm{d}x} && \text{زنجیری قاعدہ} \\
&= \frac{\mathrm{d}}{\mathrm{d}u}\int_1^u \cos t \, \mathrm{d}t \cdot \frac{\mathrm{d}u}{\mathrm{d}x} && y \text{ کا کلیہ پر کیا گیا ہے} \\
&= \cos u \cdot \frac{\mathrm{d}u}{\mathrm{d}x} && \text{مساوات ۲ میں } f(t) = \cos t \text{ ہے} \\
&= \cos x^2 \cdot 2x && u = x^2 \\
&= 2x \cos x^2 && \text{جواب کی عمومی صورت}
\end{aligned}$$

۷۶۷۶ □

۷۶۷۷ مثال ۵.۴۵: درج ذیل ابتدائی قیمت مسئلہ کو تکمل کی صورت میں لکھیں۔

$$\begin{aligned}
\frac{\mathrm{d}y}{\mathrm{d}x} &= \tan x && \text{تفرقی مساوات} \\
y(1) &= 5 && \text{ابتدائی معلومات}
\end{aligned}$$

۷۶۷۸ حل: درج ذیل تفاعل

$$F(x) = \int_1^x \tan t \, \mathrm{d}t$$

۷۶۷۹ $\tan t$ کا الٹ تفرق ہے۔ یوں مساوات کا عمومی حل

$$y = \int_1^x \tan u \, \mathrm{d}t + C$$

۷۶۸۰ ہو گا جہاں مستقل C کی قیمت ابتدائی معلومات سے اخذ ہو گی:

$$\begin{aligned}
5 &= \int_1^1 \tan t \, \mathrm{d}t + C \quad y(1) = 5 \\
5 &= 0 + C \\
C &= 5
\end{aligned} \tag{۷}$$

۷۶۸۱ ابتدائی قیمت مسئلے کا حل درج ذیل ہو گا۔

$$y = \int_1^x \tan t \, \mathrm{d}t + 5$$

۷۶۸۲ تفاعل $F(x)$ لکھتے ہوئے ہم نے تکمل کا زیریں حد 1 کیوں منتخب کیا؟ درحقیقت ہم کسی بھی عدد کو زیریں حد منتخب کر سکتے ہیں لیکن ابتدائی معلومات میں دی
۷۶۸۳ گئی x کی ابتدائی قیمت $x = 1$ بہترین انتخاب ہے جس کو استعمال کرتے ہوئے ابتدائی شرط لاگو کرتے ہوئے تکمل کی قیمت صفر حاصل ہوتی ہے (جیسے
۷۶۸۴ مساوات ۷ میں ہوئی) اور C خود بخود y کی ابتدائی قیمت کے برابر حاصل ہو گی۔ □

۷۶۸۵ قطعی تکمل کی قیمت کا حصول

۷۶۸۶ ہم اب احصاء کے بنیادی مسئلے کے جزو دوم کی بات کرتے ہیں جو قطعی تکمل کی قیمت حاصل کرنے کے بارے میں ہے۔

۷۶۸۷ مسئلہ ۵.۴: **احصاء کا بنیادی مسئلہ، جزو دوم**

۷۶۸۸ اگر $[a, b]$ کے ہر نقطہ پر f استمراری ہو اور $[a, b]$ پر f کا الٹ تفرق F ہو تب درج ذیل ہو گا۔

$$\int_a^b f(x) \, \mathrm{d}x = F(b) - F(a) \tag{۸}$$

۷۶۸۹

۷۶۹۰ درج بالا مسئلہ کہتا ہے کہ a تا b استمراری تفاعل f کے تکمل کی قیمت حاصل کرنے کی خاطر ہمیں f کا الٹ تفرق F چاہیے جس سے قطعی تکمل کی قیمت
۷۶۹۱ $F(b) - F(a)$ حاصل ہو گی۔ الٹ تفرق کی موجودگی کو بنیادی مسئلے کا جزو اول یقینی بناتا ہے۔

۷۶۹۲ ثبوت: **برائے مسئلہ ۵.۴**

۷۶۹۳ ہم جانتے ہیں کہ ایک سے تفرق رکھنے والے تفاعل میں صرف مستقل کا فرق ممکن ہے۔ ہم جانتے ہیں کہ درج ذیل ایک تفاعل ہے جس کا تفرق f ہے۔

$$G(x) = \int_a^x f(t) \, \mathrm{d}t$$

۷۶۹۴ یوں اگر F ایسا دوسرا تفاعل ہو جس کا تفرق f ہو تب پورے $[a, b]$ پر درج ذیل ہو گا جہاں C مستقل ہے۔

$$F(x) = G(x) + C \tag{۹}$$

۷۶۹۵ آئیں مساوات ۹ سے $F(b) - F(a)$ حاصل کرتے ہیں۔

$$\begin{aligned}
F(b) - F(a) &= [G(b) + C] - [G(a) + C] \\
&= G(b) - G(a) \\
&= \int_a^b f(t) \, \mathrm{d}t - \int_a^a f(t) \, \mathrm{d}t \\
&= \int_a^b f(t) \, \mathrm{d}t - 0 = \int_a^b f(t) \, \mathrm{d}t
\end{aligned}$$

یوں مساوات ۸ حاصل ہوتا ہے جس کے ساتھ ثبوت مکمل ہوتا ہے۔

□

مثال ۵.۴۶:

ا. $\int_0^{\pi} \cos x \, dx = \sin x|_0^{\pi} = \sin \pi - \sin 0 = 0 - 0 = 0$

ب. $\int_{-\pi/4}^{0} \sec x \tan x \, dx = \sec x|_{-\pi/4}^{0} = \sec 0 - \sec(-\frac{\pi}{4}) = 1 - \sqrt{2}$

ج.

$$\begin{aligned}\int_1^4 \left(\frac{3}{2}\sqrt{x} - \frac{4}{x^2}\right) dx &= \left[x^{\frac{3}{2}} + \frac{4}{x}\right]_1^4 \\ &= \left[(4)^{\frac{3}{2}} + \frac{4}{4}\right] - \left[(1)^{\frac{3}{2}} + \frac{4}{1}\right] \\ &= [8+1] - [5] = 4\end{aligned}$$

□

ہم نے حصہ ۵.۵ میں x اور x^2 کے تکمل کے کلیات دریافت کیے جن کی وضاحت مسئلہ ۵.۴ کرتا ہے۔ ہم اب دیکھ سکتے ہیں کہ a اور b کی علامتوں پر کسی پابندی کے بغیر درج ذیل ہو گا۔

$$\int_a^b x \, dx = \left.\frac{x^2}{2}\right|_a^b = \frac{b^2}{2} - \frac{a^2}{2}$$ چونکہ x کا الٹ تفرق $\frac{x^2}{2}$ ہے

$$\int_a^b x^2 \, dx = \left.\frac{x^3}{3}\right|_a^b = \frac{b^3}{3} - \frac{a^3}{3}$$ چونکہ x^2 کا الٹ تفرق $\frac{x^3}{3}$ ہے

مثال ۵.۴۷: تفاعل $f(x) = x^3 - x^2 - 2x$ کی ترسیم اور x محور کے بیچ $x = -1$ تا $x = 2$ رقبہ تلاش کریں۔

حل: پہلے f کے صفر تلاش کرتے ہیں۔ چونکہ f کو درج ذیل لکھا جا سکتا ہے

$$f(x) = x^3 - x^2 - 2x = x(x^2 - x - 2) = x(x+1)(x-2)$$

لہٰذا اس کے صفر $x = 0$ ، $x = -1$ اور $x = 2$ ہوں گے جو $[-1, 2]$ کو دو خانوں میں تقسیم کرتا ہے (شکل ۵.۴۹)۔ خانہ $[-1, 0]$ میں $f \geq 0$ اور خانہ $[0, 2]$ میں $f \leq 0$ ہے۔ ہم f کا تکمل دونوں ذیلی وقفوں پر علیحدہ علیحدہ حاصل کر کے ان کی مطلق قیمتوں کو جمع کرتے

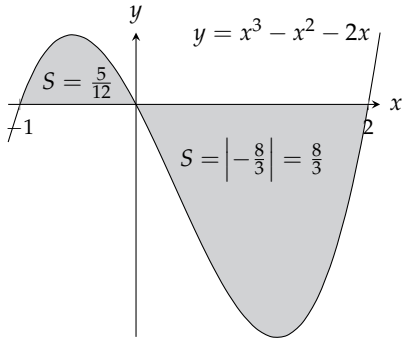

شکل ۵.۴۹: تفاعل $y = x^3 - x^2 - 2x$ اور x محور کے بیچ رقبہ (مثال ۵.۴۷)۔

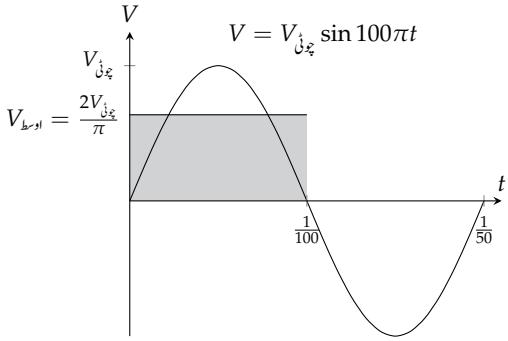

شکل ۵.۵۰: گھریلو برقی دباو کی ترسیم۔ نصف چکر کا اوسط $\frac{2V_{\text{چوٹی}}}{\pi}$ جبکہ مکمل چکر کا اوسط صفر ہے۔

۷۷۰۸ ہیں۔

$$\int_{-1}^{0} (x^3 - x^2 - 2x)\,\mathrm{d}x = \left[\frac{x^4}{4} - \frac{x^3}{3} - x^2\right]_{-1}^{0} \qquad \text{ذیلی وقفہ } [-1, 0] \text{ پر تکمل}$$

$$= 0 - \left[\frac{1}{4} + \frac{1}{3} - 1\right] = \frac{5}{12}$$

$$\int_{0}^{2} (x^3 - x^2 - 2x)\,\mathrm{d}x = \left[\frac{x^4}{4} - \frac{x^3}{3} - x^2\right]_{0}^{2} \qquad \text{ذیلی وقفہ } [0, 2] \text{ پر تکمل}$$

$$= \left[4 - \frac{8}{3} - 4\right] - 0 = -\frac{8}{3}$$

$$\text{کل رقبہ} = \frac{5}{12} + \left|-\frac{8}{3}\right| = \frac{37}{12}$$

۷۷۰۹ □

۷۷۱۰ مثال ۵.۴۸: گھریلو برق

۷۷۱۱ گھریلو صارفین کو بدلتا رو برقی دباو فراہم کیا جاتا ہے جس کا نمونہ کشی درج ذیل سائن تفاعل کرتا ہے

$$V = V_{\text{چوٹی}} \sin 100\pi t$$

۷۷۱۲ جہاں V اور t کی اکائیاں بالترتیب وولٹ اور سیکنڈ ہیں۔ اس تفاعل کی تعدد 50 ہرٹز یعنی پچاس چکر فی سیکنڈ ہے۔ مثبت مستقل $V_{\text{چوٹی}}$ کو **دباو کی چوٹی**[۳۱]

۷۷۱۳ کہتے ہیں۔

[۳۱] peakvoltage

۷۷۱۴ نصف چکر ($\frac{1}{100}$ دورانیہ) پر V کی اوسط قیمت حاصل کرتے ہیں (شکل ۵.۵۰)۔

$$\begin{aligned}
V_{\text{اوسط}} &= \frac{1}{(\frac{1}{100})-0}\int_0^{1/100} V_{\text{چوٹی}} \sin 100\pi t \,\mathrm{d}t \\
&= 100V_{\text{چوٹی}}\Big[-\frac{1}{100\pi}\cos 100\pi t\Big]_0^{1/100} \\
&= \frac{V_{\text{چوٹی}}}{\pi}[-\cos\pi + \cos 0] \\
&= \frac{2V_{\text{چوٹی}}}{\pi}
\end{aligned}$$

۷۷۱۵ □

۷۷۱۶ مکمل چکر پر گھریلو برقی دباو کی اوسط صفر ہے جو شکل ۵.۵۰ کو دیکھ کر ظاہر ہے (سوال ۵.۴۲۶ بھی دیکھیں)۔ اوسط برقی دباو پیما ہماری گھریلو برقی دباو کو صفر ناپے
۷۷۱۷ گی۔

۷۷۱۸ برقی دباو کی پیمائش موثر طریقہ سے کرنے کی خاطر ہم ایسا آلہ استعمال کرتے ہیں جو برقی دباو کے مربع کی اوسط کے جذر ($V_{\text{موثر}}$) کی پیمائش کرتا ہو:

$$V_{\text{موثر}} = \sqrt{(V^2)_{\text{اوسط}}}$$

۷۷۱۹ چونکہ $V^2 = (V_{\text{چوٹی}})^2 \sin^2 100\pi t$ کی ایک چکر پر اوسط قیمت درج ذیل ہے

$$(V^2)_{\text{اوسط}} = \frac{1}{(1/50)-0}\int_0^{1/50} (V_{\text{چوٹی}})^2 \sin^2 100\pi t \,\mathrm{d}t = \frac{(V_{\text{چوٹی}})^2}{2} \tag{۱۰}$$

۷۷۲۰ لہٰذا موثر برقی دباو درج ذیل ہو گی (سوال ۵.۴۲۶-ج)۔

$$V_{\text{موثر}} = \sqrt{\frac{(V_{\text{چوٹی}})^2}{2}} = \frac{V_{\text{چوٹی}}}{\sqrt{2}} \tag{۱۱}$$

۷۷۲۱ گھریلو برقی دباو اور برقی رو کی قیمتوں کا ذکر کرتے ہوئے ان کی موثر قیمتیں بتائی جاتی ہیں۔ یوں 230 وولٹ بدلتا برقی دباو سے مراد برقی دباو کی موثر قیمت ہے
۷۷۲۲ جس کی چوٹی درج ذیل ہو گی جو موثر قیمت سے کافی زیادہ ہے۔

$$V_{\text{چوٹی}} = \sqrt{2}V_{\text{موثر}} = \sqrt{2}\cdot 230 = 325 \quad (\text{وولٹ})$$

۷۷۲۳ **سوالات**

۷۷۲۴ **تکمل کی قیمت کا حصول**

۷۷۲۵ سوال ۵.۳۶۳ تا سوال ۵.۳۸۸ میں تکمل کی قیمت تلاش کریں۔

۷۷۲۶ سوال ۵.۳۶۳: $\int_{-2}^{0} (2x+5)\,\mathrm{d}x$

۷۷۲۷

۷۷۲۸ سوال ۵.۳۶۴: $\int_{-3}^{4} (5-\frac{x}{2})\,\mathrm{d}x$

۷۷۲۹ سوال ۵.۳۶۵: $\int_{0}^{4} (3x-\frac{x^3}{4})\,\mathrm{d}x$

۷۷۳۰

۷۷۳۱ سوال ۵.۳۶۶: $\int_{-2}^{2} (x^3-2x+3)\,\mathrm{d}x$

۷۷۳۲ سوال ۵.۳۶۷: $\int_{0}^{1} (x^2+\sqrt{x})\,\mathrm{d}x$

۷۷۳۳

۷۷۳۴ سوال ۵.۳۶۸: $\int_{0}^{5} x^{3/2}\,\mathrm{d}x$

۷۷۳۵ سوال ۵.۳۶۹: $\int_{1}^{32} x^{-6/5}\,\mathrm{d}x$

۷۷۳۶

۷۷۳۷ سوال ۵.۳۷۰: $\int_{-2}^{-1} \frac{2}{x^2}\,\mathrm{d}x$

۷۷۳۸ سوال ۵.۳۷۱: $\int_{0}^{\pi} \sin x\,\mathrm{d}x$

۷۷۳۹

۷۷۴۰ سوال ۵.۳۷۲: $\int_{0}^{\pi} (1+\cos x)\,\mathrm{d}x$

۷۷۴۱ سوال ۵.۳۷۳: $\int_{0}^{\pi/3} 2\sec^2 x\,\mathrm{d}x$

۷۷۴۲

۷۷۴۳ سوال ۵.۳۷۴: $\int_{\pi/6}^{5\pi/6} \csc^2 x\,\mathrm{d}x$

۷۷۴۴ سوال ۵.۳۷۵: $\int_{\pi/4}^{3\pi/4} \csc\theta\cot\theta\,\mathrm{d}\theta$

۷۷۴۵

۷۷۴۶ سوال ۵.۳۷۶: $\int_{0}^{\pi/3} 3\sec u\tan u\,\mathrm{d}u$

۷۷۴۷ سوال ۵.۳۷۷: $\int_{\pi/2}^{0} \frac{1+\cos 2t}{2}\,\mathrm{d}t$

۷۷۴۸

۷۷۴۹ سوال ۵.۳۷۸: $\int_{-\pi/3}^{\pi/3} \frac{1-\cos 2t}{2}\,\mathrm{d}t$

۷۷۵۰ سوال ۵.۳۷۹: $\int_{-\pi/2}^{\pi/2} (8y^2+\sin y)\,\mathrm{d}y$

۷۷۵۱

۷۷۵۲ سوال ۵.۳۸۰: $\int_{-\pi/3}^{-\pi/4} (4\sec^2 t+\frac{\pi}{t^2})\,\mathrm{d}t$

۷۷۵۳ سوال ۵.۳۸۱: $\int_{1}^{-1} (r+1)^2\,\mathrm{d}r$

۷۷۵۴

سوال ۵.۳۸۲: $\int_{-\sqrt{3}}^{\sqrt{3}} (t+1)(t^2+4)\,\mathrm{d}t$

سوال ۵.۳۸۳: $\int_{\sqrt{2}}^{1} (\frac{u^7}{2} - \frac{1}{u^5})\,\mathrm{d}u$

سوال ۵.۳۸۴: $\int_{1/2}^{1} (\frac{1}{v^3} - \frac{1}{v^4})\,\mathrm{d}v$

سوال ۵.۳۸۵: $\int_{1}^{\sqrt{2}} \frac{s^2+\sqrt{s}}{s^2}\,\mathrm{d}s$

سوال ۵.۳۸۶: $\int_{9}^{4} \frac{1-\sqrt{u}}{\sqrt{u}}\,\mathrm{d}u$

سوال ۵.۳۸۷: $\int_{-4}^{4} |x|\,\mathrm{d}x$

سوال ۵.۳۸۸: $\int_{0}^{\pi} \frac{1}{2}(\cos x + |\cos x|)\,\mathrm{d}x$

تکمل کی قیمت کا حصول بذریعہ بدل

سوال ۵.۳۸۹ تا سوال ۵.۳۹۶ میں بدل کے استعمال سے الٹ تفرق حاصل کرتے ہوئے بنیادی مسئلہ کی مدد سے تکمل کی قیمت تلاش کریں۔

سوال ۵.۳۸۹: $\int_{0}^{1} (1-2x)^3\,\mathrm{d}x$

سوال ۵.۳۹۰: $\int_{1}^{2} \sqrt{3x+1}\,\mathrm{d}x$

سوال ۵.۳۹۱: $\int_{0}^{1} t\sqrt{t^2+1}\,\mathrm{d}t$

سوال ۵.۳۹۲: $\int_{-1}^{2} \frac{t\,\mathrm{d}t}{\sqrt{2t^2+8}}$

سوال ۵.۳۹۳: $\int_{0}^{\pi} \sin^2(1+\frac{\theta}{2})\,\mathrm{d}\theta$

سوال ۵.۳۹۴: $\int_{3\pi/8}^{\pi/2} \sec^2(\pi - 2\theta)\,\mathrm{d}\theta$

سوال ۵.۳۹۵: $\int_{0}^{\pi} \sin^2\frac{x}{4}\cos\frac{x}{4}\,\mathrm{d}x$

سوال ۵.۳۹۶: $\int_{2\pi/3}^{\pi} \tan^3\frac{x}{4}\sec^2\frac{x}{4}\,\mathrm{d}x$

رقبہ

سوال ۵.۳۹۷ تا سوال ۵.۴۰۲ میں دیے وقفے پر تفاعل کی ترسیم اور x محور کے بیچ کل رقبہ تلاش کریں۔

سوال ۵.۳۹۷: $y = -x^2 - 2x, \quad -3 \le x \le 2$

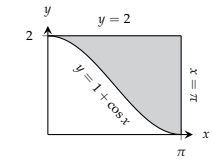

شکل ۵.۵۱

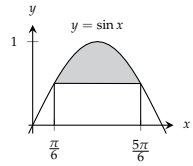

شکل ۵.۵۲

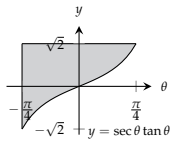

شکل ۵.۵۳

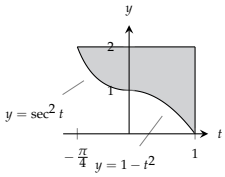

شکل ۵.۵۴

۷۷۸۳ سوال ۵.۳۹۸: $y = 3x^2 - 3, \quad -2 \le x \le 2$

۷۷۸۴ سوال ۵.۳۹۹: $y = x^3 - 3x^2 + 2x, \quad 0 \le x \le 2$

۷۷۸۵

۷۷۸۶ سوال ۵.۴۰۰: $y = x^3 - 4x, \quad -2 \le x \le 2$

۷۷۸۷ سوال ۵.۴۰۱: $y = x^{1/3}, \quad -1 \le x \le 8$

۷۷۸۸

۷۷۸۹ سوال ۵.۴۰۲: $y = x^{1/3} - x, \quad -1 \le x \le 8$

۷۷۹۰ سوال ۵.۴۰۳ تا سوال ۵.۴۰۶ میں سایہ دار رقبہ تلاش کریں۔

۷۷۹۱ سوال ۵.۴۰۳: وقفہ $0 \le x \le \pi$ پر تفاعل $y = 1 + \cos x$ اور $y = 2$ کے بیچ رقبہ (شکل ۵.۵۱)۔

۷۷۹۲

۷۷۹۳ سوال ۵.۴۰۴: وقفہ $\frac{\pi}{6} \le x \le \frac{5\pi}{6}$ پر $y = \sin x$ اور $y = \frac{1}{2}$ کے بیچ رقبہ (شکل ۵.۵۲)۔

۷۷۹۴ سوال ۵.۴۰۵: وقفہ $-\frac{\pi}{4} \le x \le \frac{\pi}{4}$ پر $y = \sec\theta\tan\theta$ اور $y = \sqrt{2}$ کے بیچ رقبہ (شکل ۵.۵۳)۔

۷۷۹۵

۷۷۹۶ سوال ۵.۴۰۶: وقفہ $-\frac{\pi}{4} \le x \le 0$ پر $y = \sec^2 t$ اور وقفہ $0 \le x \le 1$ پر $y = 1 - t^2$ ہے۔ ان تفاعل اور
۷۷۹۷ $y = 2$ کے بیچ رقبہ (شکل ۵.۵۴)۔

۷۷۹۸ **تکمل کا تفرق** سوال ۵.۴۰۷ تا سوال ۵.۴۱۰ میں (ا) تکمل حل کر کے جواب کا تفرق لیں، (ب) تکمل سے سیدھا تفرق حاصل کریں۔

۷۷۹۹ سوال ۵.۴۰۷: $\frac{\mathrm{d}}{\mathrm{d}x}\int_0^{\sqrt{x}} \cos t \,\mathrm{d}t$

۷۸۰۰

۷۸۰۱ سوال ۵.۴۰۸: $\frac{\mathrm{d}}{\mathrm{d}x}\int_1^{\sin x} 3t^2 \,\mathrm{d}t$

۷۸۰۲ سوال ۵.۴۰۹: $\frac{\mathrm{d}}{\mathrm{d}t}\int_0^{t^4} \sqrt{u} \,\mathrm{d}u$

۷۸۰۳

۷۸۰۴ سوال ۵.۴۱۰: $\frac{\mathrm{d}}{\mathrm{d}\theta}\int_0^{\tan\theta} \sec^2 y \,\mathrm{d}y$

۷۸۰۵ سوال ۵.۴۱۱ تا سوال ۵.۴۱۶ میں $\frac{dy}{dx}$ تلاش کریں۔

۷۸۰۶ سوال ۵.۴۱۱: $y = \int_0^x \sqrt{1+t^2}\,dt$

۷۸۰۷

۷۸۰۸ سوال ۵.۴۱۲: $y = \int_1^x \frac{1}{t}\,dt, \quad x > 0$

۷۸۰۹ سوال ۵.۴۱۳: $y = \int_0^{\sqrt{x}} \sin(t^2)\,dt$

۷۸۱۰

۷۸۱۱ سوال ۵.۴۱۴: $y = \int_0^{x^2} \cos\sqrt{t}\,dt$

۷۸۱۲ سوال ۵.۴۱۵: $y = \int_0^{\sin x} \frac{dt}{\sqrt{1-t^2}}, \quad |x| < \frac{\pi}{2}$

۷۸۱۳

۷۸۱۴ سوال ۵.۴۱۶: $y = \int_0^{\tan x} \frac{dt}{1+t^2}$

۷۸۱۵ ابتدائی قیمت مسائل

۷۸۱۶ درج ذیل تفاعل سوال ۵.۴۱۷ تا سوال ۵.۴۲۰ میں کسی ایک ابتدائی قیمت مسئلہ حل کرتے ہیں۔ کون سا تفاعل کس مسئلے کو حل کرتا ہے؟ اپنے جواب کی وجہ
۷۸۱۷ بیان کریں۔

۷۸۱۸ ا. $y = \int_1^x \frac{1}{t}\,dt - 3$

۷۸۱۹ ب. $y = \int_0^x \sec t\,dt + 4$

۷۸۲۰ ج. $y = \int_{-1}^x \sec t\,dt + 4$

۷۸۲۱ د. $y = \int_\pi^x \frac{1}{t}\,dt - 3$

۷۸۲۲ سوال ۵.۴۱۷: $\frac{dy}{dx} = \frac{1}{x}, \quad y(\pi) = -3$

۷۸۲۳

۷۸۲۴ سوال ۵.۴۱۸: $y' = \sec x, \quad y(-1) = 4$

۷۸۲۵ سوال ۵.۴۱۹: $y' = \sec x, \quad y(0) = 4$

۷۸۲۶

۷۸۲۷ سوال ۵.۴۲۰: $y' = \frac{1}{x}, \quad y(1) = -3$

۷۸۲۸ سوال ۵.۴۲۱ تا سوال ۵.۴۲۴ میں دیے گئے ابتدائی قیمت مسئلوں کے حل کو تکمل کی صورت میں لکھیں۔

۷۸۲۹ سوال ۵.۴۲۱: $\frac{dy}{dx} = \sec x, \quad y(2) = 3$

۷۸۳۰

۷۸۳۱ سوال ۵.۴۲۲: $\frac{dy}{dx} = \sqrt{1+x^2}, \quad y(1) = -2$

۷۸۳۲ سوال ۵.۴۲۳: $\frac{ds}{dt} = f(t), \quad s(t_0) = s_0$

۷۸۳۳

۷۸۳۴ سوال ۵.۴۲۴: $\frac{dv}{dt} = g(t), \quad v(t_0) = v_0$

عملی استعمال

سوال ۵.۴۲۵: قطع مکافی کے رقبہ کا آرشمیدسی کلیہ

آرشمیدس (212-287 قبل مسیح) نے قطع مکافی کے نیچے رقبے کا کلیہ دریافت کیا جس کے تحت قد ضرب قاعدہ کی دو تہائی رقبہ ہو گا۔

ا. تکمل کی مدد سے درج محراب $y = 6 - x - x^2,\ -3 \leq x \leq 2$ کے نیچے رقبہ تلاش کریں۔

ب. محراب کا قد تلاش کریں۔

ج. دکھائیں کہ قاعدہ b ضرب قد h کی دو تہائی اس رقبہ کے برابر ہو گا۔

د. b اور h کو مثبت تصور کرتے ہوئے $-\frac{b}{2} \leq x \leq \frac{b}{2}$ پر قطع مکافی محراب $y = h - (\frac{4h}{b^2})x^2$ ترسیم کریں۔ احصاء کی مدد سے اس محراب اور x محور کے بیچ رقبہ تلاش کریں۔

سوال ۵.۴۲۶: تسلسل (مثال ۵.۴۸)

ا. درج ذیل کی قیمت حاصل کرتے ہوئے دکھائیں کہ ایک پورے چکر پر $V = V_{\text{چوٹی}} \sin 100\pi t$ کی اوسط قیمت صفر ہو گی۔

$$\frac{1}{(1/50) - 0} \int_0^{1/50} V_{\text{چوٹی}} \sin 100\pi t \, \mathrm{d}t$$

ب. کئی ممالک میں گھریلو صارفین کو $110V_{\text{مؤثر}}$ فراہم کی جاتی ہے۔ ان کے ہاں برقی دباو کی چوٹی کتنی ہو گی؟

ج. درج ذیل دکھائیں۔

$$\int_0^{1/50} (V_{\text{چوٹی}})^2 \sin^2 100\pi t \, \mathrm{d}t = \frac{(V_{\text{چوٹی}})^2}{100}$$

سوال ۵.۴۲۷: حاشیہ لاگت سے لاگت

اشتہار چھاپنے کی حاشیہ لاگت $\frac{\mathrm{d}c}{\mathrm{d}x} = \frac{1}{2\sqrt{x}}$ ہے جہاں x تعداد کو ظاہر کرتی ہے۔ (ا) اشتہار 2 تا 100 چھاپنے کی لاگت $c(100) - c(1)$ تلاش کریں۔ (ب) اشتہار 101 تا 400 چھاپنے کی لاگت تلاش کریں۔

سوال ۵.۴۲۸: حاشیہ آمدنی سے آمدنی

فرض کریں ایک ادارہ مرغی کے انڈے مارنے والی مشین بناتی ہے جس کی پیداوار اور فروخت سے ادارے کو $\frac{\mathrm{d}r}{\mathrm{d}x} = 2 - \frac{2}{(x+1)^2}$ حاشیہ آمدنی حاصل ہوتی ہے جہاں r کی اکائی ہزار روپیہ اور x کی اکائی ہزار مشین ہے۔ اگر انڈے مارنے والی مشینوں کی پیداوار $x = 3$ ہزار ہو تب کتنی آمدنی متوقع ہو گی؟ یہ معلوم کرنے کی خاطر حاشیہ آمدنی کا تکمل $x = 0$ تا $x = 3$ لیں۔

ترسیم سے حرکت کے بارے میں نتائج اخذ کرنا

سوال ۵.۴۲۹: فرض کریں کہ f جسے شکل ۵.۵۵ میں دکھایا گیا ہے قابل تفرق تفاعل ہے اور محور پر حرکت کرتے ہوئے ذرے کا لمحہ t پر مقام $s = \int_0^t f(x)\,\mathrm{d}x$ میٹر ہے۔ شکل کی مدد سے درج ذیل کا جواب دیں اور اپنے جواب کی وجہ پیش کریں۔

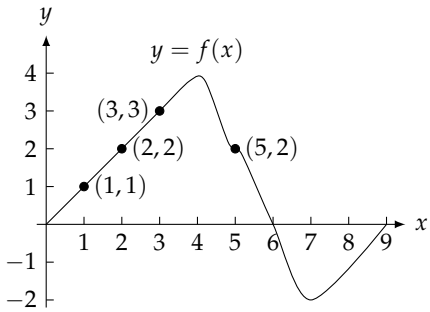

شکل ۵.۵۵: تفاعل کی ترسیم برائے سوال ۵.۴۲۹

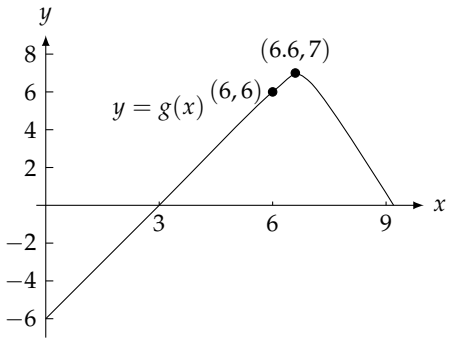

شکل ۵.۵۶: تفاعل کی ترسیم برائے سوال ۵.۴۳۰

۷۸۵۹ ا. لمحہ $t = 5$ پر ذرے کی رفتار کتنی ہے؟

۷۸۶۰ ب. لمحہ $t = 5$ پر ذرے کی اسراع مثبت کہ منفی ہے؟

۷۸۶۱ ج. لمحہ $t = 3$ پر ذرے کا مقام کیا ہے۔

۷۸۶۲ د. ابتدائی 9 سیکنڈوں میں s کی زیادہ سے زیادہ قیمت کیا ہے؟

۷۸۶۳ ھ. کس لمحے پر اسراع تقریباً صفر ہے؟

۷۸۶۴ و. ذرہ کب مبدا کی طرف اور کب اس سے دور حرکت کرتا ہے؟

۷۸۶۵ ز. لمحہ $t = 9$ پر مبدا کے کس جانب ذرہ پایا جائے گا؟

۷۸۶۶ سوال ۵.۴۳۰: فرض کریں g قابل تفرق تفاعل ہے (شکل ۵.۵۶) اور محور پر حرکت کرتے ہوئے ذرے کا لمحہ t پر مقام $s = \int_0^t g(x)\,\mathrm{d}x$
۷۸۶۷ میٹر ہے۔ ترسیم سے درج ذیل کے جوابات دیں۔ اپنے جوابات کی وجہ پیش کریں۔

۷۸۶۸ ا. لمحہ $t = 3$ پر ذرے کی رفتار کتنی ہو گی؟

۷۸۶۹ ب. کیا لمحہ $t = 3$ پر ذرے کی اسراع مثبت یا منفی ہے؟

۷۸۷۰ ج. لمحہ $t = 3$ پر ذرے کا مقام کیا ہے؟

۷۸۷۱ د. رہ کس لمحے پر مبدا سے گزرتا ہے؟

۷۸۷۲ ھ. اسراع کب صفر ہے؟

۷۸۷۳ و. ذرہ کب مبدا سے دور اور کب مبدا کی جانب حرکت کرتا ہے؟

۷۸۷۴ ز. لمحہ $t = 9$ پر ذرہ مبدا کے کس جانب ہو گا؟

حجم برائے حصہ ۵.۴

سوال ۵.۴۳۱: برائے حصہ ۵.۴ کی مثال ۵.۲۳

حصہ ۵.۴ کی مثال ۵.۲۳ میں جسم کے حجم کا تخمینی مجموعہ درحقیقت تکمل کا ریمان مجموعہ مجموعہ تھا۔ یہ کون سے تکمل کا ریمان مجموعہ تھا؟ اس تکمل کو حل کرتے ہوئے حجم تلاش کریں۔

سوال ۵.۴۳۲: برائے حصہ ۵.۴ کی مثال ۵.۲۴

حصہ ۵.۴ کی مثال ۵.۲۴ میں کرہ کے حجم کا تخمینی مجموعہ تکمل کا ریمان مجموعہ مجموعہ تھا۔ یہ کون سے تکمل کا ریمان مجموعہ تھا؟ اس تکمل کو حل کرتے ہوئے حجم تلاش کریں۔

سوال ۵.۴۳۳: برائے حصہ ۵.۴ کا سوال ۵.۲۰۱

حصہ ۵.۴ کے سوال ۵.۲۰۱ میں پانی کے حجم کا تخمینی مجموعہ تکمل کا ریمان مجموعہ تھا۔ یہ کون سے تکمل کا ریمان مجموعہ تھا؟ اس تکمل کو حل کرتے ہوئے حجم تلاش کریں۔

سوال ۵.۴۳۴: برائے حصہ ۵.۴ کا سوال ۵.۲۰۳

حصہ ۵.۴ کے سوال ۵.۲۰۳ میں راکٹ کے نوک کے حجم کا تخمینی مجموعہ تکمل کا ریمان مجموعہ تھا۔ یہ کون سے تکمل کا ریمان مجموعہ تھا؟ اس تکمل کو حل کرتے ہوئے حجم تلاش کریں۔

نظریہ اور مثالیں

سوال ۵.۴۳۵: دکھائیں کہ مثبت k کی صورت میں x محور اور محراب $y = \sin kx$ کے بیچ رقبہ $\frac{2}{k}$ ہے۔

سوال ۵.۴۳۶: درج ذیل تلاش کریں۔

$$\lim_{x\to 0} \frac{1}{x^3} \int_0^x \frac{t^2}{t^4+1}\,\mathrm{d}t$$

سوال ۵.۴۳۷: فرض کریں $\int_1^x f(t)\,\mathrm{d}t = x^2 - 2x + 1$ ہے تب $f(x)$ تلاش کریں۔

سوال ۵.۴۳۸: اگر $\int_0^x f(t)\,\mathrm{d}t = x\cos \pi x$ ہو تب $f(4)$ کتنا ہوگا؟

سوال ۵.۴۳۹: نقطہ $x = 1$ پر $f(x) = 2 - \int_2^{x+1} \frac{9}{1+t}\,\mathrm{d}t$ کی خط بندی تلاش کریں۔

سوال ۵.۴۴۰: نقطہ $x = -1$ پر $g(x) = 3 + \int_1^{x^2} \sec(t-1)\,\mathrm{d}t$ کی خط بندی تلاش کریں۔

سوال ۵.۴۴۱: فرض کریں تمام x پر f کا تفرق مثبت ہے اور $f(1) = 0$ ہے۔ تفاعل $g(x) = \int_0^x f(t)\,\mathrm{d}t$ کے لئے درج ذیل میں سے کون سے فقرے درست ہوں گے؟ اپنے جوابات کی وجہ پیش کریں۔

ا. g متغیر x کا قابل تفرق تفاعل ہے۔

ب. g متغیر x کا استمراری تفرق تفاعل ہے۔

ج. g کی ترسیم کا $x = 1$ پر افقی مماس پایا جاتا ہے۔

د. $x = 1$ پر g کا مقامی زیادہ سے زیادہ پایا جاتا ہے۔

ھ. $x = -1$ پر g کا مقامی کم سے کم پایا جاتا ہے۔

و. $x = 1$ پر g کی ترسیم پر نقطہ تصریف پایا جاتا ہے۔

ز. $\frac{\mathrm{d}g}{\mathrm{d}x}$ کی ترسیم x محور کو $x = 1$ پر قطع کرتا ہے۔

سوال ۵.۴۴۲: فرض کریں تمام x پر f کا تفرق منفی ہے اور $f(1) = 0$ ہے۔ تفاعل $h(x) = \int_0^x f(t)\,\mathrm{d}t$ کے لئے درج ذیل میں سے کون سے فقرے درست ہوں گے؟

ا. h متغیر x کا دو بار قابل تفرق تفاعل ہے۔

ب. h اور $\frac{\mathrm{d}h}{\mathrm{d}x}$ دونوں استمراری ہیں۔

ج. h کی ترسیم کا $x = 1$ پر افقی مماس پایا جاتا ہے۔

د. h کا مقامی زیادہ سے زیادہ $x = 1$ ہے۔

ھ. h کا مقامی کم سے کم $x = 1$ ہے۔

و. h کی ترسیم کا نقطہ تصریف $x = 1$ پر ہے۔

ز. $\frac{\mathrm{d}h}{\mathrm{d}x}$ کی ترسیم x محور کو $x = 1$ پر قطع کرتا ہے۔

کمپیوٹر کا استعمال

سوال ۵.۴۴۳: بنیادی مسئلہ

اگر f استمراری ہو تب ہم توقع کرتے ہیں کہ $\lim_{h\to 0} \frac{1}{h} \int_x^{x+h} f(t)\,\mathrm{d}t$ کی قیمت بنیادی مسئلے کے جزو اول کی طرح $f(x)$ ہو گی۔ مثال کے طور پر اگر $f(t) = \cos t$ ہو تب

$$\frac{1}{h}\int_x^{x+h} \cos t\,\mathrm{d}t = \frac{\sin(x+h) - \sin x}{h} \tag{۱۲}$$

ہو گا۔ مساوات ۱۲ کا دایاں ہاتھ $\sin x$ کے تفرق کا حاصل تقسیم ہے اور ہم توقع کرتے ہیں کہ $h \to 0$ کی صورت میں یہ $\cos x$ کے برابر ہو گا۔

تفاعل $\cos x$ کو $-\pi \le x \le 2\pi$ پر ترسیم کریں۔ اب باری باری $h = 2$ ، $h = 1$ ، $h = 0.5$ اور $h = 0.1$ لیتے ہوئے مساوات ۱۲ کے دائیں ہاتھ کو بھی x کے لحاظ سے (مختلف رنگوں میں) ترسیم کریں۔ دیکھیں کہ $h \to 0$ کرنے سے یہ ترسیم کیسے $\cos x$ کی ترسیم پر بیٹھتی ہے۔

سوال ۵.۴۴۴: تفاعل $f(t) = 3t^2$ کے لئے سوال ۵.۴۴۳ دوبارہ حل کریں۔ درج ذیل کیا ہو گا؟

$$\lim_{h\to 0} \frac{1}{h}\int_x^{x+h} 3t^2\,\mathrm{d}t = \lim_{h\to 0} \frac{(x+h)^3 - x^3}{h}$$

تفاعل $f(x) = 3x^2$ کو وقفہ $-1 \leq x \leq 1$ پر ترسیم کریں۔ اب باری باری $h = 1$ ، $h = 0.5$ ، $h = 0.2$ اور $h = 0.1$ لیتے ہوئے $\frac{(x+h)^3 - x^3}{h}$ کو بھی ترسیم کریں۔ دیکھیں کہ $h \to 0$ کرنے سے یہ ترسیم کیسے $3x^2$ کی ترسیم پر بیٹھتی ہے۔

سوال ۵.۴۴۵ تا سوال ۵.۴۴۸ میں وقفہ $[a, b]$ پر تفاعل f کے لئے $F(x) = \int_a^x f(t)\,\mathrm{d}t$ لیں۔ کمپیوٹر کی مدد سے درج ذیل اقدام کرتے ہوئے سوالات کے جوابات دیں۔

ا. وقفہ $[a, b]$ پر f اور F کو اکٹھے ترسیم کریں۔

ب. مساوات $F(x) = 0$ کو حل کریں۔ جس نقطہ پر $F(x) = 0$ ہے اس نقطہ پر f اور F کی ترسیمات کے بارے میں کیا کہا جا سکتا ہے؟ کیا آپ کا مشاہدہ ایک بار تفرق کی دی گئی قیمت اور بنیادی مسئلے کے جزو اول کو مطمئن کرتا ہے؟ اپنے جواب کی وجہ بیان کریں۔

ج. کس (تخمینی) وقفہ پر تفاعل F بڑھتا ہے اور کس پر گھٹتا ہے؟ ان وقفوں پر f کے بارے میں کیا درست ہو گا؟

د. F اور تفرق f' کو اکٹھے ترسیم کریں۔ جس نقطہ پر $f'(x) = 0$ ہے اس نقطے پر F کی ترسیم کے بارے میں کیا کہنا ممکن ہے؟ کیا آپ کا مشاہدہ بنیادی مسئلے کے جزو اول کو مطمئن کرتا ہے؟ اپنے جواب کی وجہ بیان کریں۔

سوال ۵.۴۴۵: $f(x) = x^3 - 4x^2 + 3x, \quad [0, 4]$

سوال ۵.۴۴۶: $f(x) = 2x^4 - 17x^3 + 46x^2 - 43x + 12, \quad [0, \frac{9}{2}]$

سوال ۵.۴۴۷: $f(x) = \sin 2x \cos \frac{x}{3}, \quad [0, 2\pi]$

سوال ۵.۴۴۸: $f(x) = x \cos \pi x, \quad [0, 2\pi]$

سوال ۵.۴۴۹ تا سوال ۵.۴۵۲ میں دیے گئے a ، u اور f کے لئے $F(x) = \int_a^{u(x)} f(t)\,\mathrm{d}t$ لیں۔ کمپیوٹر کی مدد سے درج ذیل اقدام کرتے ہوئے درج ذیل کے جواب دیں۔

ا. F کا دائرہ کار تلاش کریں۔

ب. $F'(x)$ تلاش کرتے ہوئے اس کے صفر حاصل کریں۔ اپنے دائرہ کار میں کہاں F بڑھتا اور کہاں گھٹتا ہے؟

ج. F'' تلاش کرتے ہوئے اس کے صفر حاصل کریں۔ F کے مقامی انتہا اور نقطہ تصریف حاصل کریں۔

د. جزو-ا تا جزو-ج کے نتائج استعمال کرتے ہوئے $y = F(x)$ کا اپنے دائرہ پر خاکہ کھینچیں۔ اب کمپیوٹر پر $F(x)$ کی ترسیم کھینچ کر اس خاکے کی تصدیق کریں۔

سوال ۵.۴۴۹: $a = 1, \quad u(x) = x^2, \quad f(x) = \sqrt{1 - x^2}$

سوال ۵.۴۵۰: $a = 0, \quad u(x) = x^2, \quad f(x) = \sqrt{1 - x^2}$

سوال ۵.۴۵۱: $a = 0, \quad u(x) = 1 - x, \quad f(x) = x^2 - 2x - 3$

سوال ۵.۴۵۲: $a = 0, \quad u(x) = 1 - x^2, \quad f(x) = x^2 - 2x - 3$

سوال ۵.۴۵۳: تفاعل $\frac{\mathrm{d}}{\mathrm{d}x} \int_a^{u(x)} f(t)\,\mathrm{d}t$ کا حساب کرتے ہوئے کمپیوٹر کی مدد سے نتیجے کی تصدیق کریں۔

سوال ۵.۴۵۴: تفاعل $\frac{\mathrm{d}^2}{\mathrm{d}x^2} \int_a^{u(x)} f(t)\,\mathrm{d}t$ کا حساب کرتے ہوئے کمپیوٹر کی مدد سے نتیجے کی تصدیق کریں۔

۵.۸ قطعی تکمل میں بدل

قطعی تکمل کو بدل کی مدد سے حل کرنے کے دو طریقے پائے جاتے ہیں اور دونوں بہترین کام کرتے ہیں۔ ایک طریقہ میں بدل کے ذریعہ مطابقتی غیر قطعی تکمل حاصل کرتے ہوئے اس کا کوئی ایک الٹ تفرق استعمال کرتے ہوئے قطعی تکمل کو بنیادی مسئلہ سے حل کیا جاتا ہے۔ دوسری ترکیب میں درج ذیل کلیہ استعمال کیا جاتا ہے۔

قطعی تکمل میں بدل کا کلیہ

$$\int_a^b f(g(x)) \cdot g'(x)\,\mathrm{d}x = \int_{g(a)}^{g(b)} f(u)\,\mathrm{d}u \tag{۱}$$

اس کلیہ میں $u = g(x)$ پر کرتے ہوئے $\mathrm{d}u = g'(x)\,\mathrm{d}x$ لکھ کر $g(a)$ تا $g(b)$ تکمل لیں۔

قطعی تکمل حل کرنے کی خاطر وہی u تفاعل پر کریں جو آپ غیر قطعی تکمل کے حل میں استعمال کریں گے۔ اس کے بعد $x = a$ پر u کی قیمت سے $x = b$ پر u کی قیمت تک تکمل لیں۔

مثال ۵.۴۹: قطعی تکمل $\int_{-1}^{1} 3x^2\sqrt{x^3-1}\,\mathrm{d}x$ حل کریں۔

حل: ہمارے پاس دو راستے ہیں۔

پہلی ترکیب: دیے گئے تکمل کو غیر قطعی تکمل میں بدلیں جس کو حل کرنے کے بعد متغیر کو واپس x صورت میں لکھیں اور x کے بالائی اور زیریں حدود استعمال کریں۔

$$\begin{aligned}
\int 3x^2\sqrt{x^3+1}\,\mathrm{d}x &= \int \sqrt{u}\,\mathrm{d}u && u = x^3+1,\ \mathrm{d}y = 3x^2\,\mathrm{d}x \\
&= \frac{2}{3}u^{3/2} + C && u \text{ کے لحاظ سے تکمل لیں} \\
&= \frac{2}{3}(x^3+1)^{3/2} + C && \text{واپس } u = x^3+1 \text{ پر کریں} \\
\int_{-1}^{1} 3x^2\sqrt{x^3+1}\,\mathrm{d}x &= \frac{2}{3}(x^3+1)^{3/2}\Big|_{-1}^{1} && \text{حاصل تکمل استعمال کریں} \\
&= \frac{2}{3}[((1)^3+1)^{3/2} - ((-1)^3+1)^{3/2}] \\
&= \frac{2}{3}[2^{3/2} - 0^{3/2}] = \frac{2}{3}[2\sqrt{2}] = \frac{4\sqrt{2}}{3}
\end{aligned}$$

۷۹۶۷ **دوسری ترکیب:** تکمل کو بدل کر مساوات ا میں دیے گئے نئے حدود استعمال کریں۔ ہم $u = x^3 + 1$ لیتے ہیں۔ یوں $\mathrm{d}u = 3x^2\,\mathrm{d}x$ ہو گا جبکہ حدود $u(x=-1) = 0$ اور $u(x=1) = 2$ ہوں گے۔

۷۹۶۸

$$\int_{-1}^{1} 3x^2\sqrt{x^3+1}\,\mathrm{d}x = \int_0^1 \sqrt{u}\,\mathrm{d}u \qquad u = x^3+1,\ \mathrm{d}u = 3x^2\,\mathrm{d}x$$

$$= \frac{2}{3}u^{3/2}\Big|_0^2 \qquad \text{نئے قطعی تکمل کی قیمت حاصل کریں}$$

$$= \frac{2}{3}[2^{2/3} - 0^{2/3}] = \frac{2}{3}[2\sqrt{2}] = \frac{4\sqrt{2}}{3}$$

۷۹۶۹ □

۷۹۷۰ اس مثال میں دوسری ترکیب زیادہ آسان معلوم ہوتی ہے اگرچہ ایسا ہر بار نہیں ہو گا۔ آپ کو دونوں ترکیب آنے چاہیے۔

۷۹۷۱ آئیں ایک اور مثال دیکھیں۔

۷۹۷۲ مثال ۵.۵۰:

$$\int_{\pi/4}^{\pi/2} \cot\theta\csc^2\theta\,\mathrm{d}\theta = \int_1^0 u\cdot(-\mathrm{d}u) \qquad u = \cot\theta,\ \mathrm{d}u = -\csc^2\theta\,\mathrm{d}\theta$$

$$= -\int_1^0 u\,\mathrm{d}u$$

$$= -\left[\frac{u^2}{2}\right]_1^0$$

$$= -\left[\frac{(0)^2}{2} - \frac{(1)^2}{2}\right] = \frac{1}{2}$$

۷۹۷۳ □

۷۹۷۴ **کمپیوٹر کا استعمال**

۷۹۷۵ بعض اوقات الٹ تفرق کا حصول مشکل ہوتا ہے۔ بہت سارے قابل تکمل تفاعل مثلاً

$$f(x) = e^{-x^2}$$

۷۹۷۶ جو نظریہ احتمال میں اہم کردار ادا کرتا ہے کے الٹ تفرق کو بنیادی تفاعل کی صورت میں نہیں لکھا جا سکتا ہے، اگرچہ بنیادی مسئلہ کے جزو اول سے ہم جانتے ہیں

۷۹۷۷ کہ f کا الٹ تفرق موجود ہے۔ کمپیوٹر پر درج ذیل تکملی تفاعل

$$F(x) = \int_0^x e^{-t^2}\,\mathrm{d}t$$

ترسیم کریں۔ آپ $F(x)$ کے بارے میں کیا کہہ سکتے ہیں؟ یہ کہاں بڑھتا اور کہاں گھٹتا ہے؟ اس کے انتہا (اگر ہوں) کہاں پائے جاتے ہیں؟ اس کی ترسیم کے مقعر کے بارے میں کیا کہا جا سکتا ہے؟

سوالات

قطعی تکمل کی قیمت کا حصول

سوال ۵.۴۵۵ تا سوال ۵.۴۷۸ کو حل کریں۔

سوال ۵.۴۵۵: (ا) $\int_0^3 \sqrt{y+1}\,\mathrm{d}y$ (ب) $\int_{-1}^0 \sqrt{y+1}\,\mathrm{d}y$

سوال ۵.۴۵۶: (ا) $\int_0^1 r\sqrt{1-r^2}\,\mathrm{d}r$ (ب) $\int_{-1}^1 r\sqrt{1-r^2}\,\mathrm{d}r$

سوال ۵.۴۵۷: (ا) $\int_0^{\pi/4} \tan x \sec^2 x\,\mathrm{d}x$ (ب) $\int_{-\pi/4}^0 \tan x \sec^2 x\,\mathrm{d}x$

سوال ۵.۴۵۸: (ا) $\int_0^{\pi} 3\cos^2 x \sin x\,\mathrm{d}x$ (ب) $\int_{2\pi}^{3\pi} 3\cos^2 x \sin x\,\mathrm{d}x$

سوال ۵.۴۵۹: (ا) $\int_0^1 t^3(1+t^4)^3\,\mathrm{d}t$ (ب) $\int_{-1}^1 t^3(1+t^4)^3\,\mathrm{d}t$

سوال ۵.۴۶۰: (ا) $\int_0^{\sqrt{7}} t(t^2+1)^{1/3}\,\mathrm{d}t$ (ب) $\int_{-\sqrt{7}}^0 t(t^2+1)^{1/3}\,\mathrm{d}t$

سوال ۵.۴۶۱: (ا) $\int_{-1}^1 \frac{5r}{(4+r^2)^2}\,\mathrm{d}r$ (ب) $\int_0^1 \frac{5r}{(4+r^2)^2}\,\mathrm{d}r$

سوال ۵.۴۶۲: (ا) $\int_0^1 \frac{10\sqrt{v}}{(1+v^{3/2})^2}\,\mathrm{d}v$ (ب) $\int_1^4 \frac{10\sqrt{v}}{1+v^{3/2}}\,\mathrm{d}v$

سوال ۵.۴۶۳: (ا) $\int_0^{\sqrt{3}} \frac{4x}{\sqrt{x^2+1}}\,\mathrm{d}x$ (ب) $\int_{-\sqrt{3}}^{\sqrt{3}} \frac{4x}{\sqrt{x^2+1}}\,\mathrm{d}x$

سوال ۵.۴۶۴: (ا) $\int_0^1 \frac{x^3}{\sqrt{x^4+9}}\,\mathrm{d}x$ (ب) $\int_{-1}^0 \frac{x^3}{\sqrt{x^4+9}}\,\mathrm{d}x$

سوال ۵.۴۶۵: (ا) $\int_0^{\pi/6} (1-\cos 3t)\sin 3t\,\mathrm{d}t$ (ب) $\int_{\pi/6}^{\pi/3} (1-\cos 3t)\sin 3t\,\mathrm{d}t$

سوال ۵.۴۶۶: (ا) $\int_{-\pi/2}^0 (2+\tan\frac{t}{2})\sec^2\frac{t}{2}\,\mathrm{d}t$ (ب) $\int_{-\pi/2}^{\pi/2} (2+\tan\frac{t}{2})\sec^2\frac{t}{2}\,\mathrm{d}t$

سوال ۵.۴۶۷: (ا) $\int_0^{2\pi} \frac{\cos z}{\sqrt{4+3\sin z}}\,\mathrm{d}z$ (ب) $\int_{-\pi}^{\pi} \frac{\cos z}{\sqrt{4+3\sin z}}\,\mathrm{d}z$

سوال ۵.۴۶۸: (ا) $\int_{-\pi/2}^0 \frac{\sin w}{(3+2\cos w)^2}\,\mathrm{d}w$ (ب) $\int_0^{\pi/2} \frac{\sin w}{3+2\cos w}\,\mathrm{d}w$

سوال ۵.۴۶۹: $\int_0^1 \sqrt{t^5+2t}(5t^4+2)\,\mathrm{d}t$

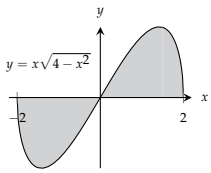

شکل ۵.۵۷

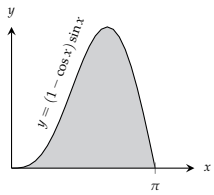

شکل ۵.۵۸

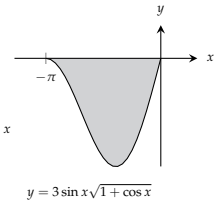

شکل ۵.۵۹

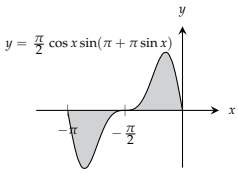

شکل ۵.۶۰

۸۰۰۵ سوال ۵.۴۷۰: $\int_1^4 \frac{\mathrm{d}y}{2\sqrt{y}(1+\sqrt{y})^2}$

۸۰۰۶ سوال ۵.۴۷۱: $\int_0^{\pi/6} \cos^{-3} 2\theta \sin 2\theta \,\mathrm{d}\theta$

۸۰۰۷ سوال ۵.۴۷۲: $\int_\pi^{3\pi/2} \cot^5 \frac{\theta}{6} \sec^2 \frac{\theta}{6} \,\mathrm{d}\theta$

۸۰۰۸ سوال ۵.۴۷۳: $\int_0^\pi 5(5-4\cot t)^{1/4} \sin t \,\mathrm{d}t$

۸۰۰۹ سوال ۵.۴۷۴: $\int_0^{\pi/4} (1-\sin 2t)^{3/2} \cos 2t \,\mathrm{d}t$

۸۰۱۰ سوال ۵.۴۷۵: $\int_0^1 (4y - y^2 + 4y^3 + 1)^{-2/3}(12y^2 - 2y + 4) \,\mathrm{d}y$

۸۰۱۱ سوال ۵.۴۷۶: $\int_0^1 (y^3 + 6y^2 - 12y + 9)^{-1/2}(y^2 + 4y - 4) \,\mathrm{d}y$

۸۰۱۲ سوال ۵.۴۷۷: $\int_0^{\sqrt[3]{\pi^2}} \sqrt{\theta} \cos^2(\theta^{3/2}) \,\mathrm{d}\theta$

۸۰۱۳ سوال ۵.۴۷۸: $\int_{-1}^{-1/2} t^{-2} \sin^2(1 + \frac{1}{t}) \,\mathrm{d}t$

۸۰۱۴ **رقبہ**

۸۰۱۵ سوال ۵.۴۷۹ تا سوال ۵.۴۸۲ میں سایہ دار رقبہ تلاش کریں۔

۸۰۱۶ سوال ۵.۴۷۹: ترسیم شکل ۵.۵۷ میں دی گئی ہے۔

۸۰۱۷ سوال ۵.۴۸۰: ترسیم شکل ۵.۵۸ میں دی گئی ہے۔

۸۰۱۸ سوال ۵.۴۸۱: ترسیم شکل ۵.۵۹ میں دی گئی ہے۔

۸۰۱۹ سوال ۵.۴۸۲: ترسیم شکل ۵.۶۰ میں دی گئی ہے۔

۸۰۲۰ **نظریہ اور مثالیں**

۸۰۲۱ سوال ۵.۴۸۳: اگر $f(x) = \frac{\sin x}{x},\ x > 0$ کا الٹ تفرق $F(x)$ ہو تب $\int_1^3 \frac{\sin 2x}{x} \,\mathrm{d}x$ کو F کی روپ میں لکھیں۔

۸۰۲۲ سوال ۵.۴۸۴: دکھائیں کہ استمراری f کی صورت میں $\int_0^1 f(x) \,\mathrm{d}x = \int_0^1 f(1-x) \,\mathrm{d}x$ ہوگا۔

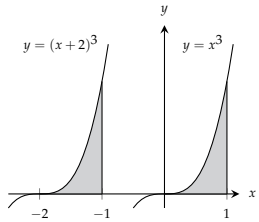

شکل ۵.۶۱: قطعی تکمل کی عدم تبدیلی بصورت خطی انتقال۔

۸۰۲۳ سوال ۵.۴۸۵: اگر $\int_0^1 f(x)\,\mathrm{d}x = 3$ ہو تب (ا) طاق f، (ب) جفت f کی صورت میں $\int_{-1}^0 f(x)\,\mathrm{d}x$ کتنا ہو گا؟

۸۰۲۴ سوال ۵.۴۸۶: (ا) درج ذیل دکھائیں۔

$$\int_{-a}^{a} h(x)\,\mathrm{d}x = \begin{cases} 0, & \text{طاق } h \\ 2\int_0^a h(x)\,\mathrm{d}x, & \text{جفت } h \end{cases}$$

۸۰۲۵ (ب) $a = \frac{\pi}{2}$ لیتے ہوئے $h(x) = \sin x$ اور $h(x) = \cos x$ کے لئے جزو-ا کی تصدیق کریں۔

۸۰۲۶ سوال ۵.۴۸۷: استمراری f کے لئے درج ذیل تکمل حل کرنے کی خاطر بدل $u = a - x$ پر کر کے حاصل تکمل کے نتیجہ کو I کے ساتھ جمع
۸۰۲۷ کریں۔

$$I = \int_0^a \frac{f(x)\,\mathrm{d}x}{f(x) + f(a-x)}$$

۸۰۲۸ سوال ۵.۴۸۸: موزوں بدل استعمال کر کے تمام مثبت x اور y اعداد کے لئے درج ذیل ثابت کریں۔

$$\int_x^{xy} \frac{\mathrm{d}t}{t} = \int_1^y \frac{\mathrm{d}t}{t}$$

۸۰۲۹

۸۰۳۰ قطعی تکمل کی خاصیت انتقال

۸۰۳۱ خطی انتقال کی صورت میں قطعی تکمل کی عدم تبدیلی جسے درج ذیل مساوات پیش کرتی ہے قطعی تکمل کی بنیادی خاصیت ہے۔

$$\int_a^b f(x)\,\mathrm{d}x = \int_{a-c}^{b-c} f(x+c)\,\mathrm{d}x \tag{۲}$$

۸۰۳۲ یہ مساوات درکار x پر معین اور قابل تکمل f کے لئے مطمئن ہوتی ہے، مثلاً (شکل ۵.۶۱):

$$\int_{-2}^{-1} (x+2)^3\,\mathrm{d}x = \int_0^1 x^3\,\mathrm{d}x \tag{۳}$$

سوال ۵.۴۸۹: کوئی بدل استعمال کرتے ہوئے مساوات ۲ کی تصدیق کریں۔

سوال ۵.۴۹۰: درج ذیل تمام تفاعل کے لئے $[a,b]$ پر $f(x)$ اور $[a-c,b-c]$ پر $f(x+c)$ کو ترسیم کرتے ہوئے اپنی یقین دہانی کریں کہ مساوات ۲ مطمئن ہوتی ہے۔

(ا) $f(x)=x^2,\ a=0,\ b=1,\ c=1$

(ب) $f(x)=\sin x,\ a=0,\ b=\pi,\ c=\frac{\pi}{2}$

(ج) $f(x)=\sqrt{x-4},\ a=4,\ b=8,\ c=5$

۵.۹ اعدادی تکمل

ہم نے دیکھا کہ $f(x)$ کے الٹ تفرق $F(x)$ کے کلیہ سے قطعی تکمل $\int_a^b f(x)\,\mathrm{d}x$ کی قیمت $F(b)-F(a)$ حاصل کی جا سکتی ہے۔ بعض اوقات الٹ تفرق معلوم کرنا مشکل ہوتا ہے بلکہ بعض تفاعل، مثلاً $\frac{\sin x}{x}$ اور $\sqrt{1+x^4}$ کے الٹ تفرق کو بنیادی تفاعل کی صورت میں لکھنا ممکن نہیں ہوتا ہے۔ ہم یہ نہیں کہہ رہے ہیں کہ $\frac{\sin x}{x}$ اور $\sqrt{1+x^4}$ کے الٹ تفرق کے کلیات اب تک کوئی حاصل کرنے میں کامیاب نہیں ہوا بلکہ ہم کہہ رہے ہیں کہ یہ ثابت کیا گیا ہے کہ ان تفاعل کے الٹ تفرق کو بنیادی تفاعل کی صورت میں نہیں لکھا جا سکتا ہے۔

ہم جب بھی قطعی تکمل کی قیمت کو الٹ تفرق سے حاصل کرنے میں ناکام ہوں، ہم اعدادی تراکیب، مثلاً قاعدہ ذوزنقہ یا قاعدہ سمسن بروئے کار لاتے ہیں جن پر اس حصہ میں غور کیا جائے گا۔

قاعدہ ذوزنقہ

جب کسی تفاعل جس کی قطعی تکمل کی قیمت درکار ہو کے متکمل f کا الٹ تفرق ہم دریافت نہ کر سکیں تب ہم تکمل کے وقفہ کی خانہ بندی کرتے ہوئے ہر ذیلی وقفہ پر f کو تخمیناً موزوں کثیر رکنی سے ظاہر کر کے ان کثیر رکنیوں کا تکمل لے کر تمام جوابات کا مجموعہ لیتے ہیں جو تکمل کی تخمینی قیمت کے برابر ہو گا۔ کسی بھی خانہ بندی کے لئے جتنی زیادہ درجے کے کثیر رکنی منتخب کی جائیں حاصل جواب اتنا زیادہ درست ہو گا۔ کسی بھی درجے کی کثیر رکنی کے لئے جتنی باریک خانہ بندی کی جائے حاصل جواب اتنا زیادہ درست ہو گا حتٰی کے ہم پورو پور خلل یا حذفی خلل اتنا بڑھ جائے کہ مزید باریک خانہ بندی سے حاصل جواب کی درستگی کم ہونا شروع ہو جائے۔

کم درجے کی کثیر رکنی سے بھی اچھے نتائج حاصل ہوتے ہیں بلکہ مستقیم قطعات (درجہ 1 کثیر رکنی) بھی بہترین تخمین دیتے ہیں پس ان کی تعداد کافی ہونی چاہیے۔ اس کی وجہ سمجھنے کے لئے فرض کریں ہم f کے وقفہ $[a,b]$ کو $\Delta x = h = \frac{b-a}{n}$ لمبائی کے n قطعات میں تقسیم کر کے منحنی پر مطابقتی نقطوں کو سیدھے قطعات سے جوڑتے ہیں (شکل ۵.۶۲)۔ لمبائی $\Delta x = h = \frac{b-a}{n}$ کو **لمبائی قدم**[۳۲] کہتے ہیں جس کو یہاں Δx کے بجائے h سے ظاہر کیا جاتا ہے جبکہ n **قدموں**[۳۳] کی تعداد ہے۔ ذیلی وقفوں کے آخری نقطوں سے تقسیمی نقطوں تک انتصابی لکیریں کھینچنے سے متعدد ذوزنقہ

---

[۳۲] stepsize
[۳۳] steps

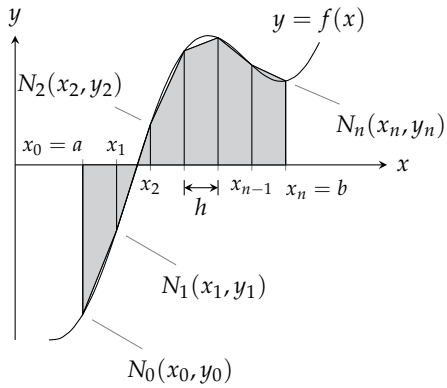

شکل ۵.۶۲: ذوزنقہ قاعدہ برائے اعدادی تکمل۔

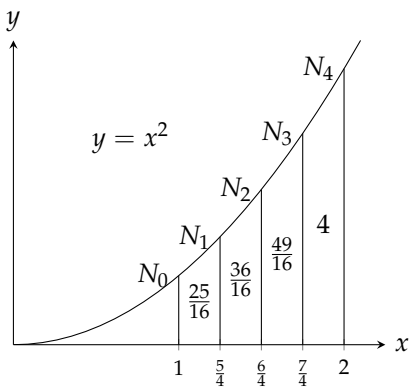

شکل ۵.۶۳: ذوزنقہ قاعدہ تفاعل $y = x^2$ کا رقبہ کچھ زیادہ دیتا ہے۔

۸۰۵۵ حاصل ہوتے ہیں جو منحنی اور x محور کے بیچ خطہ کی تخمین ہوں گے۔ ہم ان ذوزنقہ کے رقبوں کا مجموعہ لیتے ہیں جہاں x محور سے اوپر رقبہ کو مثبت جبکہ اس
۸۰۵۶ سے نیچے رقبہ کو منفی تصور کیا جاتا ہے۔

$$\begin{aligned} T &= \frac{1}{2}(y_0 + y_1)h + \frac{1}{2}(y_1 + y_2)h + \cdots + \frac{1}{2}(y_{n-2} + y_{n-1})h + \frac{1}{2}(y_{n-1} + y_n)h \\ &= h(\frac{1}{2}y_0 + y_1 + y_2 + \cdots + y_{n-1} + \frac{1}{2}y_n) \\ &= \frac{h}{2}(y_0 + 2y_1 + 2y_2 + \cdots + 2y_{n-1} + y_n) \end{aligned}$$

۸۰۵۷ یہاں $y_0 = f(a)$ ، $y_1 = f(x_1)$ ، $\cdots$ ، $y_{n-1} = f(x_{n-1})$ اور $y_n = f(x_n)$ ہیں۔

۸۰۵۸ قاعدہ ۵.۱: **ذوزنقہ قاعدہ**

۸۰۵۹ تکمل $\int_a^b f(x)\,\mathrm{d}x$ کو تخمیناً درج ذیل سے ظاہر کیا جا سکتا ہے (جہاں n ذیلی وقفوں کی لمبائی قدم $h = \frac{b-a}{n}$ ہے اور $y_k = f(x_k)$
۸۰۶۰ ہے)۔

$$T = \frac{h}{2}(y_0 + 2y_1 + 2y_2 + \cdots + 2y_{n-1} + y_n) \tag{۱}$$

۸۰۶۱

۸۰۶۲ مثال ۵.۵۱: تکمل $\int_1^2 x^2\,\mathrm{d}x$ کو ذوزنقہ قاعدہ سے $n = 4$ لے کر حل کریں۔ اصل رقبہ کے ساتھ موازنہ کریں۔

۸۰۶۳ حل: ہم وقفہ $[1, 2]$ کو چار برابر ذیلی وقفوں میں تقسیم کرتے ہیں۔ یوں ایک وقفہ کی لمبائی $h = \frac{2-1}{4} = \frac{1}{4}$ ہو گی۔ ان ذیلی وقفوں کے آخری

۸۰۶۴ نقطوں پر تفاعل $y = x^2$ کی قیمت درج ذیل ہے۔

x	$y = x^2$
1	1
$\frac{5}{4}$	$\frac{25}{16}$
$\frac{6}{4}$	$\frac{36}{16}$
$\frac{7}{4}$	$\frac{49}{16}$
2	4

۸۰۶۵ اب $n = 4$ اور $h = \frac{1}{4}$ لیتے ہوئے مساوات ۱ استعمال کرتے ہیں۔

$$\begin{aligned} T &= \frac{h}{2}(y_0 + 2y_1 + 2y_2 + 2y_3 + y_4) \\ &= \frac{1}{8}(1 + 2(\tfrac{25}{16}) + 2(\tfrac{36}{16}) + 2(\tfrac{49}{16}) + 4) = \frac{75}{32} \\ &= 2.343\,75 \end{aligned}$$

۸۰۶۶ تکمل کی اصل قیمت درج ذیل ہے۔

$$\int_1^2 x^2 \,\mathrm{d}x = \left.\frac{x^3}{3}\right|_1^2 = \frac{8}{3} - \frac{1}{3} = \frac{7}{3} = 2.\bar{3}$$

۸۰۶۷ یہاں تخمینی قیمت اصل قیمت سے زیادہ ہے۔ درحقیقت تمام ذوزنقے مطابقتی خطہ میں کچھ زیادہ رقبہ گھیرتا ہے (شکل ۵.۶۳)۔ □

۸۰۶۸ **ذوزنقہ تخمین میں قابو خلل**

۸۰۶۹ مختلف تفاعل کی ترسیم کو دیکھ کر ایسا معلوم ہوتا ہے کہ لمبائی قدم h کم کرنے سے چونکہ ذوزنقہ تفاعل پر بہتر بیٹھتا ہے لہٰذا ذوزنقہ تخمین میں خلل

$$E_T = \int_a^b f(x)\,\mathrm{d}x - T \tag{۲}$$

۸۰۷۰ کم ہو گی۔ اعلیٰ احصاء کا ایک مسئلہ کہتا ہے کہ اگر f کا دہرا تفرق استمراری ہو تب یقینی طور پر ایسا ہی ہو گا۔

۸۰۷۱ **ذوزنقہ قاعدہ میں اندازہ خلل**

۸۰۷۲ اگر f'' استمراری ہو اور $[a, b]$ پر $|f''|$ کی قیمت کی بالائی حد بندی M ہو تب درج ذیل ہو گا۔

$$|E_T| \leq \frac{b-a}{12} h^2 M \tag{۳}$$

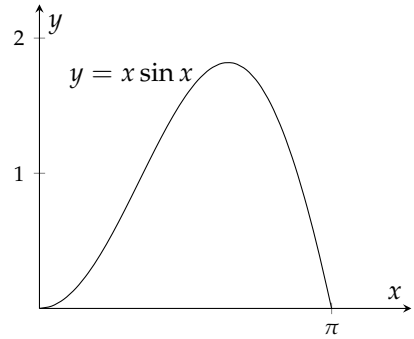

شکل ۵.۶۴: متکمل برائے مثال ۵.۵۳

۸۰۷۳ اگرچہ نظریہ کہتا ہے کہ ہر صورت M کی کم ترین قیمت پائی جائے گے عموماً حقیقت میں یہ قیمت جاننا ممکن نہیں ہوتا ہے۔ ہم عام طور پر M کی بہتر سے بہتر
۸۰۷۴ اندازاً قیمت معلوم کر کے اسی سے $|E_T M|$ حاصل کرتے ہیں۔ اگرچہ ایسا کرنا اچھا نہیں لگتا ہے لیکن یہ طریقہ چلتا ہے۔ کسی بھی M کے لئے $|E_T|$ کی
۸۰۷۵ قیمت کم کرنے کی خاطر ہم h کو چھوٹا کرتے ہیں۔

۸۰۷۶ مثال ۵.۵۲: تکمل $\int_1^2 x^2 \, \mathrm{d}x$ کی تخمینی قیمت مثال ۵.۵۱ میں حاصل کی گئی۔ اس تخمینی قیمت میں خلل کی بالائی حد بندی تلاش کریں۔

۸۰۷۷ حل: وقفہ $1 \leq x \leq 2$ پر $f(x) = x^2$ کا دہرا تفرق $f''(x) = 2$ ہے جس کی قیمت اٹل ہے لہٰذا ہم $M = 2$ لے سکتے
۸۰۷۸ ہیں۔ اب $b - a = 1$ اور $h = \frac{1}{4}$ سے مساوات ۳ درج ذیل دیتی ہے۔

$$|E_T| \leq \frac{b-a}{12} h^2 M = \frac{1}{12}\left(\frac{1}{4}\right)^2 (2) = \frac{1}{96}$$

۸۰۷۹ ہم $\int_1^2 x^2 \, \mathrm{d}x = \frac{7}{3}$ سے $T = \frac{75}{32}$ منفی کر کے یہی خلل $\left|\frac{7}{3} - \frac{75}{32}\right| = \left|-\frac{1}{96}\right|$ حاصل کرتے ہیں۔ یہاں ہم خلل کی بالکل درست
۸۰۸۰ مطلق قیمت حاصل کرنے میں کامیاب ہوئے ہیں۔ ایسا ہر بار نہیں ہو گا۔ □

۸۰۸۱ مثال ۵.۵۳: ذوزنقہ قاعدہ میں $n = 10$ قدم لیتے ہوئے درج ذیل تکمل کی تخمینی قیمت تلاش کریں (شکل ۵.۶۴)۔

$$\int_0^\pi x \sin x \, \mathrm{d}x$$

۸۰۸۲ حل: $a = 0$ ، $b = \pi$ اور $h = \frac{\pi - 0}{10}$ سے

$$|E_T| \leq \frac{b-a}{12} h^2 M = \frac{\pi}{12}\left(\frac{\pi}{10}\right)^2 M = \frac{\pi^3}{1200} M$$

۸۰۸۳ ملتا ہے جہاں $[0, \pi]$ پر $f(x) = x \sin x$ کے دہرا تفرق کی کوئی بھی بالائی حد بندی ہو سکتی ہے۔ چونکہ

$$f''(x) = 2\cos x - x \sin x$$

۸۰۸۴ کے برابر ہے لہٰذا درج ذیل ہو گا۔

$$\begin{aligned}\left|f''(x)\right| &= |2\cos x - x\sin x| \\ &\le 2|\cos x| + |x||\sin x| && |a+b| \le |a| + |b| \text{ تکونی عدم مساوات} \\ &\le 2\cdot 1 + \pi\cdot 1 = 2+\pi && |\sin x| \text{ اور } |\cos x| \text{ ایک سے بڑھ نہیں سکتے ہیں}\end{aligned}$$

۸۰۸۵ ہم $M = 2+\pi$ لیتے ہیں۔ یوں

$$|E_T| \le \frac{\pi^3}{1200}M = \frac{\pi^3(2+\pi)}{1200} < 0.133 \qquad \text{بطور حفاظت اوپر کو پورا کیا گیا ہے}$$

۸۰۸۶ حاصل ہوتا ہے لہٰذا خلل کسی صورت بھی 0.133 سے زیادہ نہیں ہو گا۔ زیادہ درست جواب حاصل کرنے کی خاطر ہم M کی بہتر قیمت تلاش کرنے کے
۸۰۸۷ بجائے زیادہ قدم لیں گے، مثلاً $n = 100$ قدم لیتے ہوئے $h = \frac{1\pi}{100}$ ہو گا جس سے خلل کم ہو کر درج ذیل رہ جاتا ہے۔

$$|E_T| \le \frac{\pi}{12}\left(\frac{\pi}{100}\right)^2 M = \frac{\pi^3(2+\pi)}{120\,000} < 0.001\,33 = 1.33\times 10^{-3}$$

۸۰۸۸ □

۸۰۸۹ مثال ۵.۵۴: جیسا ہم باب ۷ میں دیکھیں گے $\ln 2$ کی قیمت درج ذیل تکمل سے حاصل کی جا سکتی ہے۔

$$\ln 2 = \int_1^2 \frac{1}{x}\,\mathrm{d}x$$

۸۰۹۰ ذوزنقہ قاعدہ سے تکمل کی قیمت حاصل کرتے ہوئے خلل کو 10^{-4} سے کم رکھنے کی خاطر ہمیں کتنے قدم منتخب کرنے ہوں گے۔

۸۰۹۱ حل: قدموں کی تعداد n یعنی ذیلی وقفوں کی تعداد منتخب کرنے کی خاطر ہم مساوات ۳ بروئے کار لاتے ہیں۔ یوں

$$b-a = 2-1 = 1, \quad h = \frac{b-a}{n} = \frac{1}{n}, \quad f''(x) = \frac{\mathrm{d}^2}{\mathrm{d}x^2}(x^{-1}) = 2x^{-3} = \frac{2}{x^3}$$

۸۰۹۲ سے

$$|E_T| \le \frac{b-a}{12}h^2\left|f''(x)\right|_{\text{بلند تر}} = \frac{1}{2}\left(\frac{1}{n}\right)^2\left|\frac{2}{x^3}\right|_{\text{بلند تر}}$$

۸۰۹۳ لکھا جا سکتا ہے جہاں وقفہ $[1,2]$ پر $\left|f''\right|_{\text{بلند تر}}$ درکار ہے۔

۸۰۹۴ یہ وہ شاذ و نادر موقع ہے جب ہم $\left|f''\right|_{\text{بلند تر}}$ کی ٹھیک ٹھیک قیمت معلوم کر سکتے ہیں۔ وقفہ $[1,2]$ پر $y = \frac{2}{x^3}$ کی قیمت $y = 2$ سے گھٹ کر
۸۰۹۵ $y = \frac{1}{4}$ ہوتی ہے۔ یوں

$$|E_T| \le \frac{1}{12}\left(\frac{1}{n}\right)^2\cdot 2 = \frac{1}{6n^2}$$

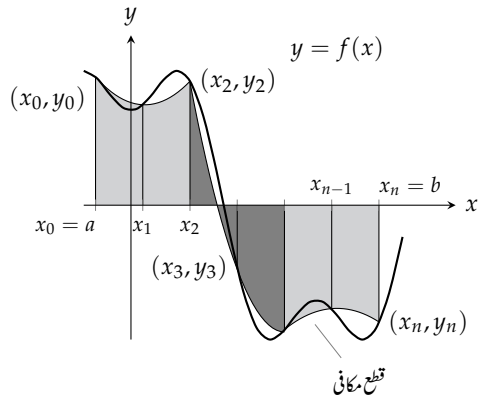

شکل ۵.۶۵: قاعدہ سمسن میں ذیلی وقفوں کی جوڑی کو انفرادی قطع مکافی سے ظاہر کیا جاتا ہے۔

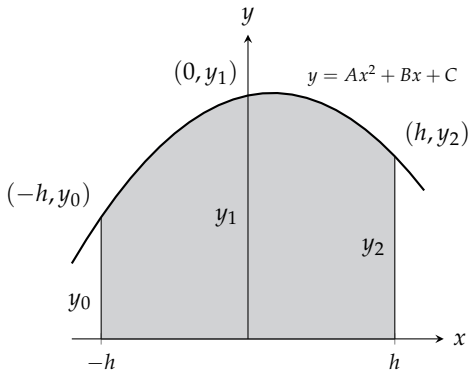

شکل ۵.۶۶: سایہ دار رقبہ $\frac{h}{3}(y_0 + 4y_1 + y_2)$ ہے۔

۸۰۹۶ ہو گا لہٰذا خلل کی مطلق قیمت 10^{-3} سے تب کم ہو گی جب $\frac{1}{6n^2} < 10^{-4}$ ہو جس سے درج ذیل حاصل ہو گا۔

$$\frac{1}{6n^2} < 10^{-4}$$

$$\frac{10^4}{6} < n^2$$ دونوں اطراف کو $10^4 n^2$ سے ضرب کریں

$$\frac{100}{\sqrt{6}} < |n|$$ جذر لیں

$$\frac{100}{\sqrt{6}} < n$$ n مثبت ہے

$$40.83 < n$$ حفاظتی طور پر اور کو پورا کیا گیا ہے۔

۸۰۹۷ عدد 40.83 سے بڑا پہلا عدد صحیح 41 ہے۔ یوں $n = 41$ یا اس سے بھی زیادہ ذیلی وقفے لیتے ہوئے ذوزنقہ ترکیب سے $\ln 2$ کی قیمت میں خلل کو

۸۰۹۸ یقینی طور پر 10^{-4} سے کم رکھا جا سکتا ہے۔ □

۸۰۹۹ **سمسن قاعدہ**

۸۱۰۰ قاعدہ سمسن میں $\int_a^b f(x)\,\mathrm{d}x$ کے حصول میں f کو مستقیم خطوط کے بجائے دور تبی کثیر رکنی (قطع مکافی) سے ظاہر کیا جاتا ہے۔ ہم ترسیم کو سیدھی

۸۱۰۱ لکیروں کے بجائے قطع مکافی قوسین سے ظاہر کرتے ہیں (شکل ۵.۶۵)۔ دور تبی کثیر رکنی $y = Ax^2 + Bx + C$ کا $x = -h$ تا

۸۱۰۲ $x = h$ تکمل درج ذیل ہو گا (شکل ۵.۶۶)۔

$$\begin{aligned}\int_{-h}^{h}(Ax^2+Bx+C)\,\mathrm{d}x &= \left[\frac{Ax^3}{3}+\frac{Bx^2}{2}+Cx\right]_{-h}^{h}\\ &= \frac{2Ah^3}{3}+2Ch\\ &= \frac{h}{3}(2Ah^2+6C)\end{aligned}$$

۸۱۰۳ کثیر رکنی کی مساوات سے

$$y_0 = Ah^2 - Bh + C, \quad y_1 = C, \quad y_2 = Ah^2 + Bh + C$$

۸۱۰۴ لکھے جا سکتے ہیں جن سے درج ذیل حاصل ہوتے ہیں۔

$$\begin{aligned}C &= y_1\\ Ah^2 - Bh &= y_0 - y_1\\ Ah^2 + Bh &= y_2 - y_1\\ 2Ah^2 &= y_0 + y_2 - 2y_1\end{aligned}$$

۸۱۰۵ یوں حاصل تکمل میں C اور $2Ah^2$ کی قیمتیں پر کرتے ہوئے

$$\frac{h}{3}(2Ah^2+6C) = \frac{h}{3}[(y_0+y_2-2y_1)+6y_1] = \frac{h}{3}(y_0+4y_1+y_2)$$

۸۱۰۶ یعنی

$$\int_{-h}^{h} f(Ax^2+Bx+C)\,\mathrm{d}x = \frac{h}{3}(y_0+4y_1+y_2) \tag{۴}$$

۸۱۰۷ ملتا ہے۔ وقفہ $[a, b]$ کو برابر لمبائی کی جفت تعداد کی ذیلی وقفوں میں میں تقسیم کرتے ہوئے مساوات ۴ کو یک بعد دیگرے ذیلی وقفوں کی جوڑیوں پر لاگو کر
۸۱۰۸ کے ان کا مجموعہ لینے سے قاعدہ سمسن حاصل ہو گا۔

۸۱۰۹ **قاعدہ سمسن**

۸۱۱۰ تکمل $\int_a^b f(x)\,\mathrm{d}x$ کا تخمین حاصل کرنے کے لئے درج ذیل استعمال کریں جو **قاعدہ سمسن**[۳۴] کہلاتا ہے۔

$$S = \frac{h}{3}(y_0+4y_1+2y_2+4y_3+\cdots+2y_{n-2}+4y_{n-1}+y_n) \tag{۵}$$

۸۱۱۱ y کی قیمتیں نقطہ خانہ بندی

$$x_0 = a,\ x_1 = a+h,\ x_2 = a+2h, \cdots,\ x_{n-1} = a+(n-1)h,\ x_n = b$$

۸۱۱۲ پر لیے جاتے ہیں جہاں n جفت اور $h = \frac{b-a}{n}$ ہے۔

---

[۳۴] Simpson'srule

قاعدہ سمسن میں قابو خلل

قاعدہ سمسن میں خلل کی مقدار

$$E_S = \int_a^b f(x)\,\mathrm{d}x - S \tag{۶}$$

لمبائی قدم گھٹانے سے کم ہوتی ہے (جیسا قاعدہ ذوزنقہ بھی ہوتا ہے) البتہ قاعدہ سمسن میں خلل قابو کرنے کے لئے درکار عدم مساوات میں f کے چار بار تفرق کا استراری ہونا ضروری ہے۔ اس بار بھی قابو خلل کا کلیہ اعلیٰ احصاء دیتی ہے:

قاعدہ سمسن میں اندازاً خلل

اگر $[a,b]$ میں $f^{(4)}$ استراری ہو اور $\left|f^{(4)}\right|$ کی بالائی حد بندی کی کوئی ایک قیمت M ہو تب مطلق خلل درج ذیل ہو گی۔

$$|E_S| \leq \frac{b-a}{180} h^4 M \tag{۷}$$

قاعدہ ذوزنقہ کی طرح ہم یہاں بھی عموماً M کی کم سے کم قیمت دریافت نہیں کر پائیں گے۔ ہم M کی کوئی موزوں قیمت تلاش کر کے اسی کو استعمال کرتے ہوئے $|E_S|$ کی تخمینی قیمت حاصل کرتے ہیں۔

مثال ۵.۵۵: درج ذیل تکمل کو قاعدہ سمسن سے حل کرتے ہوئے $n = 4$ لیں۔

$$\int_0^1 5x^4\,\mathrm{d}x$$

اس تخمین میں مساوات ۷ کے تحت خلل اندازاً کتنی ہو گی؟

حل: ہم وقفہ تکمل کو چار برابر ذیلی وقفوں میں تقسیم کر کے تقسیمی نقطوں پر متکمل $f(x) = 5x^4$ کی قیمتیں حاصل کرتے ہیں۔

x	0	$\frac{1}{4}$	$\frac{2}{4}$	$\frac{3}{4}$	1
$f(x)$	0	$\frac{5}{256}$	$\frac{80}{256}$	$\frac{405}{256}$	5

ہم $n = 4$ اور $h = \frac{1}{4}$ لیتے ہوئے مساوات ۱۵ استعمال کرتے ہیں۔

$$\begin{aligned} S &= \frac{h}{3}(y_0 + 4y_1 + 2y_2 + 4y_3 + y_4) \\ &= \frac{1}{12}\left[0 + 4\left(\frac{5}{256}\right) + 2\left(\frac{80}{256}\right) + 4\left(\frac{405}{256}\right) + 5\right] \approx 1.002\,60 \end{aligned}$$

خلل جاننے سے پہلے ہمیں وقفہ $0 \leq x \leq 1$ پر $f(x) = 5x^4$ کے چار بار تفرق $f^{(4)}$ کی بالائی حد بندی کی ایک قیمت M چاہیے۔ چونکہ $f^{(4)}(x) = 120$ مستقل ہے لہٰذا ہم بلا خطر $M = 120$ لے سکتے ہیں۔ یوں $b - a = 1$ اور $h = \frac{1}{4}$ استعمال کرتے ہوئے مساوات ۷ سے درج ذیل حاصل ہوتا ہے۔

$$|E_S| \leq \frac{b-1}{180} h^4 M = \frac{1}{180}\left(\frac{1}{4}\right)^4 (120) = \frac{1}{384} < 0.002\,61$$

$\square$

کونسا قاعدہ بہتر نتائج دیتا ہے؟

قابو خلل کے کلیات

$$|E_T| \leq \frac{b-1}{12}h^2M, \quad |E_S| \leq \frac{b-a}{180}h^4M$$

سے یہ جانا جا سکتا ہے کہ کونسا کلیہ بہتر نتیجہ دیگا جہاں بائیں ہاتھ کلیہ میں M سے مراد $\left|f''\right|$ کی بالائی حد بندی ہے جبکہ دائیں ہاتھ کلیہ میں M سے مراد $\left|f^{(4)}\right|$ کی بالائی حد بندی ہے۔اس کے علاوہ قاعدہ سمسن میں جزو $\frac{b-a}{180}$ قاعدہ ذوزنقہ میں جزو $\frac{b-a}{12}$ سے 15 گنا کم ہے۔مزید قاعدہ سمسن میں h^4 جبکہ قاعدہ ذوزنقہ میں h^2 استعمال ہوتا ہے۔یوں اگر $h = \frac{1}{10}$ ہو تب $h^2 = \frac{1}{100}$ جبکہ $h^4 = \frac{1}{10000}$ ہو گا۔اس طرح اگر دونوں M کی قیمت 1 اور $b-a = 1$ ہوں تب $h = \frac{1}{10}$ کی صورت میں درج ذیل ہوں گے۔

$$\begin{aligned}
|E_T| &\leq \frac{1}{12}\left(\frac{1}{10}\right)^2 \cdot 1 = \frac{1}{1200} \\
|E_S| &\leq \frac{1}{180}\left(\frac{1}{10}\right)^4 \cdot 1 = \frac{1}{1\,800\,000} = \frac{1}{1500} \cdot \frac{1}{1200}
\end{aligned}$$

ایک جتنی حسابی کوشش سے اس مثال میں قاعدہ سمسن بہت بہتر نتیجہ دیتا ہے۔

h^4 بالمقابل h^2 وہ اجزاء ہیں جن پر نظر رکھنی چاہیے۔اگر h کی قیمت 1 سے کم ہو تب h^4 کی قیمت h^2 سے بہت کم ہو گی۔اگر h کی قیمت 1 ہو تب $h^4 = h^2$ ہو گا۔اگر h کی قیمت 1 سے زیادہ ہو تب h^4 کی قیمت h^2 سے بہت زیادہ ہو گی۔ان آخری دو صورتوں میں قابو خلل کلیات ہمیں زیادہ مدد فراہم نہیں کر سکتے ہیں اور ہمیں $y = f(x)$ کی منحنی کو دیکھ کر فیصلہ کرنا ہو گا کہ قاعدہ سمسن اور قاعدہ ذوزنقہ میں سے کونسا قاعدہ بہتر نتیجہ (اگر دیتا ہو) دیگا۔

اعدادی مواد کے ساتھ کام

تجربہ گاہ میں پیمائش سے حاصل قیمتوں کو استعمال کرتے ہوئے قاعدہ سمسن کے ذریعہ ایسے تفاعل کے تکمل کی قیمت کو اگلے مثال میں حاصل کیا جائے گا جس کا کلیہ ہم نہیں جانتے ہیں۔ہم قاعدہ ذوزنقہ کو بھی اسی طرح استعمال کر سکتے ہیں۔

مثال ۵.۵۶: ایک شہر میں گندے پانی کا تالاب پایا جاتا ہے جس کو بھرنا مقصود ہے۔یہ تالاب 2.5 m گہرا ہے (شکل ۵.۶۷)۔تالاب سے پانی کی نکاسی کرنے کے بعد اس کو مٹی سے بھرا جائے گا۔کتنی مٹی درکار ہو گی؟

حل: تالاب کا حجم جاننے کے لئے ہم اس کا سطحی رقبہ کو 2.5 سے ضرب دیں گے۔سطحی رقبہ کو قاعدہ سمسن سے حاصل کرتے ہیں جہاں $h = 6\,\mathrm{m}$ ہے جبکہ y کی قیمتوں کو تالاب پر ناپا گیا ہے (شکل ۵.۶۷)۔

$$\begin{aligned}
S &= \frac{h}{3}(y_0 + 4y_1 + 2y_2 + 4y_3 + 2y_4 + 4y_5 + y_6) \\
&= \frac{6}{3}(30 + 100 + 40 + 100 + 36 + 40 + 7) = 706
\end{aligned}$$

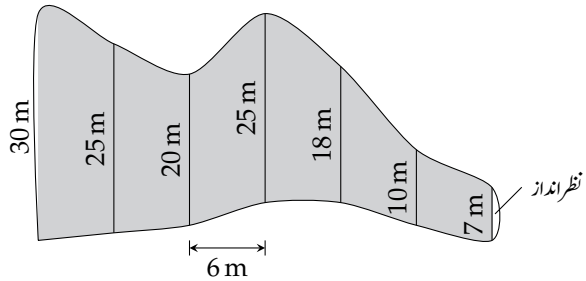

شکل ۵.۶۷: گندے پانی کا تالاب۔ افقی فاصلے 6 m ہیں (مثال ۵.۵۶)۔

۸۱۳۷ سطحی رقبہ کو 2.5 سے ضرب دیتے ہوئے تقریباً $1765\ \mathrm{m}^3$ حجم حاصل ہوتا ہے۔ □

۸۱۳۸ پورو پور خلل

۸۱۳۹ اگرچہ لمبائی قدم h کم کرنے سے ہم توقع کرتے ہیں کہ قاعدہ ذوزنقہ اور قاعدہ سمسن میں خلل کی مقدار کم ہو گی، حقیقت میں بعض اوقات اس کے برعکس
۸۱۵۰ بھی ہوتا ہے۔ جب h کی قیمت بہت کم ہو، مثلاً $h = 10^{-5}$، تب S اور T کی حساب میں پورو پور خلل اتنا بڑھ سکتا ہے کہ نتائج میں بہتری کے
۸۱۵۱ بجائے خرابی پیدا ہو سکتی ہے۔ ایسی صورت میں آپ کلیات خلل، جو پورو پور خلل کو جاننے سے قاصر ہیں، پر بھروسہ نہیں کر سکتے ہیں۔ لمبائی قدم h کو کسی
۸۱۵۲ خاص قیمت سے کم کرنے سے حقیقتاً نتائج خراب ہو سکتے ہیں۔ اس کتاب میں ایسی صورت حال پیدا نہیں ہو گی۔ اگر آپ کو ایسی صورت حال کا سامنا ہو، بہتر ہو گا
۸۱۵۳ کہ آپ اعدادی تراکیب پر لکھی گئی کسی کتاب کا سہارا لیں۔

۸۱۵۴ سوالات

۸۱۵۵ تکمل کی قیمت کا اندازہ

۸۱۵۶ سوال ۵.۴۹۱ تا سوال ۵.۵۰۰ میں دو جزو پائے جاتے ہیں۔ ایک جزو قاعدہ ذوزنقہ اور دوسرا جزو قاعدہ سمسن کے لئے ہے۔

۸۱۵۷ ۱. قاعدہ ذوزنقہ

۸۱۵۸ ا. چار قدم $n = 4$ لے کر تکمل کی تخمینی قیمت تلاش کریں۔ مساوات ۳ سے خلل $|E_T|$ کی بالائی حدود بندی کی قیمت دریافت کریں۔

۸۱۵۹ ب. تکمل کو حل کرتے ہوئے مساوات ۲ سے $|E_T|$ تلاش کریں۔

۸۱۶۰ ج. خلل $|E_T|$ کو اصل تکمل کے فی صد کی صورت میں لکھیں۔

۸۱۶۱ ۲. قاعدہ سمسن

۸۱۶۲ ا. چار قدم $n = 4$ لے کر تکمل کی تخمینی قیمت تلاش کریں۔ مساوات ۷ سے خلل $|E_S|$ کی بالائی حدود بندی کی قیمت دریافت کریں۔

۸۱۶۳ ب. تکمل کو حل کرتے ہوئے مساوات ۶ سے $|E_S|$ تلاش کریں۔

۸۱۶۴ ج. خلل $|E_S|$ کو اصل تکمل کے فی صد کی صورت میں لکھیں۔

۸۱۶۵ سوال ۵.۴۹۱: $\int_1^2 x\,\mathrm{d}x$

۸۱۶۶ سوال ۵.۴۹۲: $\int_1^3 (2x-1)\,\mathrm{d}x$

۸۱۶۷ سوال ۵.۴۹۳: $\int_{-1}^1 (x^2+1)\,\mathrm{d}x$

۸۱۶۸ سوال ۵.۴۹۴: $\int_{-2}^0 (x^2-1)\,\mathrm{d}x$

۸۱۶۹ سوال ۵.۴۹۵: $\int_0^2 (t^3+t)\,\mathrm{d}t$

۸۱۷۰ سوال ۵.۴۹۶: $\int_{-1}^1 (t^3+1)\,\mathrm{d}t$

۸۱۷۱ سوال ۵.۴۹۷: $\int_1^2 \frac{1}{s^2}\,\mathrm{d}s$

۸۱۷۲ سوال ۵.۴۹۸: $\int_2^4 \frac{1}{(s-1)^2}\,\mathrm{d}s$

۸۱۷۳ سوال ۵.۴۹۹: $\int_0^\pi \sin t\,\mathrm{d}t$

۸۱۷۴ سوال ۵.۵۰۰: $\int_0^1 \sin \pi t\,\mathrm{d}t$

۸۱۷۵ سوال ۵.۵۰۱ تا سوال ۵.۵۰۴ میں (ا) قاعدہ ذوزنقہ، (ب) قاعدہ سمسن استعمال کرتے ہوئے دی گئی قیمتیں استعمال کرتے ہوئے آٹھ قدم $n = 8$
۸۱۷۶ کے لئے تکمل حل کریں۔ اپنے جواب کو 5 اعشاریہ درستگی تک پورے پورے کریں۔ (ج) اس کے بعد تکمل کی اصل قیمت حاصل کریں اور خلل $|E_T|$ کو مساوات
۸۱۷۷ ۲ اور خلل $|E_S|$ کو مساوات ۶ سے حاصل کریں۔

۸۱۷۸ سوال ۵.۵۰۱: $\int_0^1 x\sqrt{1-x^2}\,\mathrm{d}x$

x	0	0.125	0.25	0.375	0.5	0.625	0.75	0.875	1.0
$x\sqrt{1-x^2}$	0.0	0.12402	0.24206	0.34763	0.43301	0.48789	0.49608	0.42361	0

۸۱۷۹ سوال ۵.۵۰۲: $\int_0^3 \frac{\theta}{\sqrt{16+\theta^2}}\,\mathrm{d}\theta$

θ	0	0.375	0.75	1.125	1.5	1.875	2.25	2.625	3.0
$\frac{\theta}{\sqrt{16+\theta^2}}$	0.0	0.09334	0.18429	0.27075	0.35112	0.42443	0.49026	0.58466	0.6

۸۱۸۰ سوال ۵.۵۰۳: $\int_{-\pi/2}^{\pi/2} \frac{3\cos t}{(2+\sin t)^2}\,\mathrm{d}t$

t	-1.5708	-1.1781	-0.7854	-0.3927	0	0.3927	0.7854	1.1781	1.5708
$\frac{3\cos t}{(2+\sin t)^2}$	0.0	0.99138	1.26906	1.05961	0.75	0.48821	0.28946	0.13429	0

۸۱۸۱ سوال ۵.۵۰۴: $\int_{\pi/4}^{\pi/2} (\csc^2 y)\sqrt{\cot y}\,\mathrm{d}y$

y	0.78540	0.88357	0.98175	1.07992	1.17810	1.27627	1.37445	1.47262	1.57080
$(\csc^2 y)\sqrt{\cot y}$	2.0	1.51606	1.18237	0.93998	0.75402	0.60145	0.46364	0.31688	0

۸۱۸۲ ذیلی وقفوں کی کم سے کم تعداد

۸۱۸۳ سوال ۵.۵۰۵ تا سوال ۵.۵۱۶ میں خلل کی مقدار 10^{-4} سے کم مطلوب ہے۔ (ا) قاعدہ ذوزنقہ اور (ب) قاعدہ سمسن استعمال کریں۔ مساوات ۱۳ اور
۸۱۸۴ مساوات ۷ کی مدد سے ذیلی وقفوں کی درکار تعداد تلاش کریں۔ (سوال ۵.۵۰۵ تا سوال ۵.۵۱۲ درحقیقت سوال ۵.۴۹۱ تا سوال ۵.۴۹۸ ہیں۔)

۸۱۸۵ سوال ۵.۵۰۵: $\int_1^2 x\,\mathrm{d}x$

۸۱۸۶ سوال ۵.۵۰۶: $\int_1^3 (2x-1)\,\mathrm{d}x$

۸۱۸۷ سوال ۵.۵۰۷: $\int_{-1}^1 (x^2+1)\,\mathrm{d}x$

۸۱۸۸ سوال ۵.۵۰۸: $\int_{-2}^0 (x^2-1)\,\mathrm{d}x$

۸۱۸۹ سوال ۵.۵۰۹: $\int_0^2 (t^3+t)\,\mathrm{d}t$

۸۱۹۰ سوال ۵.۵۱۰: $\int_{-1}^1 (t^3+1)\,\mathrm{d}t$

۸۱۹۱ سوال ۵.۵۱۱: $\int_1^2 \frac{1}{s^2}\,\mathrm{d}s$

۸۱۹۲ سوال ۵.۵۱۲: $\int_2^4 \frac{1}{(s-1)^2}\,\mathrm{d}s$

۸۱۹۳ سوال ۵.۵۱۳: $\int_0^3 \sqrt{x+1}\,\mathrm{d}x$

۸۱۹۴ سوال ۵.۵۱۴: $\int_0^3 \frac{1}{\sqrt{x+1}}\,\mathrm{d}x$

۸۱۹۵ سوال ۵.۵۱۵: $\int_0^2 \sin(x+1)\,\mathrm{d}x$

۸۱۹۶ سوال ۵.۵۱۶: $\int_{-1}^1 \cos(x+\pi)\,\mathrm{d}x$

۸۱۹۷ عملی استعمال

۸۱۹۸ سوال ۵.۵۱۷: آپ کے شہر میں ایک جھیل ہے جس کی اوسط گہرائی 7 m ہے جبکہ اس کا سطحی رقبہ شکل ۵.۶۸ میں دکھایا گیا ہے۔ ماہی گیری کے موسم
۸۱۹۹ کی شروع میں اوسطاً فی $9\,\mathrm{m}^3$ ایک مچھلی پائی جاتی ہے۔ ماہی گیری کے ایک اجازت نامہ پر اوسطاً فی موسم 20 مچھلیاں شکار کی جاتی ہیں۔ موسم کے اختتام پر
۸۲۰۰ جھیل میں پہلے دن کے لحاظ سے 25 % مچھلی باقی رہنا ضروری ہے۔ ماہی گیری کے موسم میں کتنے اجازت نامے منظور کیے جا سکتے ہیں؟ ترکیب سمسن استعمال
۸۲۰۱ کریں۔

۸۲۰۲ سوال ۵.۵۱۸: جہاز کا ہوائی پترا[۳۵] شکل ۵.۶۹ میں دکھایا گیا ہے جس میں 25 000 L تیل کی ٹینکی واضح ہے۔ تیل کی کثافت

[۳۵] aerofoil

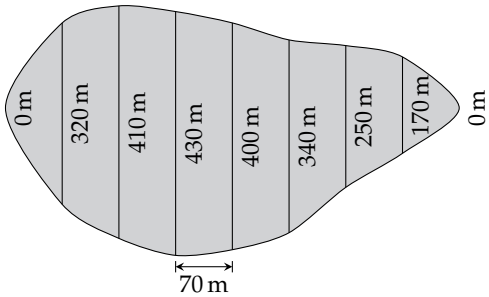

شکل ۵.۶۸: جھیل برائے سوال ۵.۵۱۷

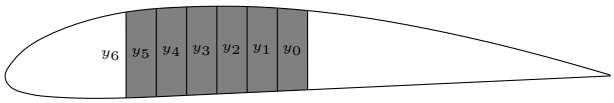

شکل ۵.۶۹: ہوائی پترا

۸۲۰۳ $0.708\,\mathrm{kg\,L^{-1}}$ ہے۔ درج ذیل معلومات دی گئی ہیں جن کے بیچ افقی فاصلہ $30\,\mathrm{cm}$ ہے۔ تیل کی ٹینکی کی لمبائی تلاش کریں۔

$$y_0 = 45\,\mathrm{cm},\ y_1 = 48\,\mathrm{cm},\ y_2 = 54\,\mathrm{cm},\ y_3 = 57\,\mathrm{cm},\ y_4 = 60\,\mathrm{cm},\ y_5 = y_6 = 63\,\mathrm{cm}$$

۸۲۰۴

۸۲۰۵ سوال ۵.۵۱۹: شمسی چادر سے حاصل برقی طاقت سے چلنے والی گاڑی کا رقبہ عمودی تراش شکل ۵.۷۰ میں دکھایا گیا ہے۔ ہوائی مزاحمت کا کچھ حصہ رقبہ
۸۲۰۶ عمودی تراش پر منحصر ہوتا ہے لہٰذا کوشش کی جاتی ہے کہ رقبہ عمودی تراش کو کم سے کم رکھا جائے۔ اس گاڑی کا رقبہ عمودی تراش قاعدہ سمسن سے دریافت
۸۲۰۷ کریں۔

۸۲۰۸ سوال ۵.۵۲۰: ایک گاڑی ساکن حالت سے روانہ ہو کر $130\,\mathrm{km\,h^{-1}}$ تک $37.1\,\mathrm{s}$ میں پہنچ پاتی ہے۔ اس کی رفتار بالمقابل وقت درج ذیل

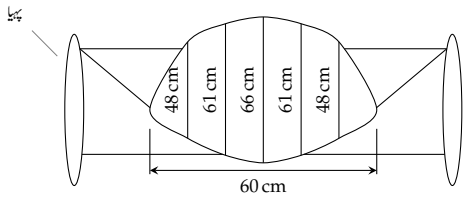

شکل ۵.۷۰: شمسی گاڑی برائے سوال ۵.۵۱۹

۸۲۰۹ ہے۔

$\mathrm{km\,h^{-1}}$	0	30	40	50	60	70	80	90	100	110	120	130
s	0	2.2	3.2	4.5	5.9	7.8	10.2	12.7	16	20.6	26.2	37.1

۸۲۱۰ اس رفتار تک پہنچتے ہوئے گاڑی کتنا فاصلہ طے کرتی ہے؟

۸۲۱۱ **نظریہ اور مثالیں**

۸۲۱۲ سوال ۵.۵۲۱: کم درجی کثیر رکنیاں

۸۲۱۳ تکمل $\int_a^b f(x)\,\mathrm{d}x$ میں خلل

$$|E_T| = \frac{b-a}{12}h^2\left|f''(c)\right|$$

۸۲۱۴ ہے جہاں وقفہ $[a,b]$ میں c (عموماً نامعلوم) نقطہ ہے۔ اگر f متغیر x کا خطی تفاعل ہو تب $f''(c) = 0$ لہٰذا $E_T = 0$ ہوگا اور کسی بھی

۸۲۱۵ h کے لئے تکمل کی اصل قیمت T ہوگی۔ یہ تعجب کی بات نہیں ہے چونکہ خطی تفاعل کی صورت میں ترسیم کو تخمینی طور پر ظاہر کرنے والے قطعات ترسیم پر

۸۲۱۶ ٹھیک بیٹھیں گے۔ تعجب کی بات سمسن خلل

$$|E_S| = \frac{b-a}{180}h^4\left|f^{(4)}(c)\right|$$

۸۲۱۷ ہے جو درجہ چار سے کم کثیر رکنی f کی صورت میں ہر c کے لئے $f^{(4)}(c) = 0$ کے تحت $E_S = 0$ ہوگا اور یوں اگر ہم صرف دو قدم بھی

۸۲۱۸ استعمال کریں تب بھی S تکمل کی اصل قیمت ہوگی۔ یہ دیکھنے کی خاطر $n = 2$ لیتے ہوئے درج ذیل کی اندازاً قیمت قاعدہ سمسن سے تلاش کر کے تکمل کی

۸۲۱۹ اصل قیمت کے ساتھ موازنہ کریں۔

$$\int_0^2 x^3\,\mathrm{d}x$$

۸۲۲۰ سوال ۵.۵۲۲: تفاعل سائن تکمل کی قابل استعمال قیمتیں

۸۲۲۱ تفاعل سائن تکمل

$$\mathrm{Si}(x) = \int_0^x \frac{\sin t}{t}\,\mathrm{d}t \qquad x \text{ کا سائن تکمل}$$

۸۲۲۲ ان تفاعل میں سے ایک ہے جنہیں بنیادی تفاعل کی صورت میں لکھنا ممکن نہیں ہے۔ تفاعل $\frac{\sin t}{t}$ کے الٹ تفرق کا کلیہ نہیں پایا جاتا ہے البتہ اعدادی تراکیب

۸۲۲۳ سے $\mathrm{Si}(x)$ کی قیمتیں باآسانی حاصل کی جا سکتی ہیں۔

۸۲۲۴ اگرچہ تکمل سائن لکھتے ہوئے یہ حقیقت بظاہر نظر نہیں آتی ہے در حقیقت ہم درج ذیل تفاعل کا تکمل حاصل کرنا چاہتے ہیں

$$f(t) = \begin{cases} \frac{\sin t}{t}, & t \neq 0 \\ 1, & t = 0 \end{cases}$$

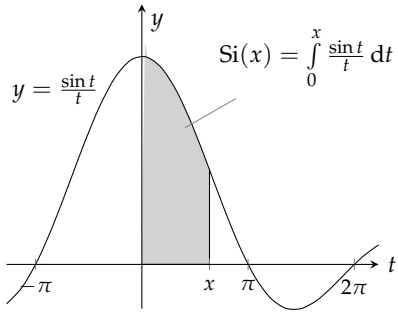

شکل ۵.۷۱: تفاعل سائن تکمل (سوال ۵.۵۲۲)

جو $\frac{\sin t}{t}$ کی وقفہ $[0, x]$ تک استمراری توسیع ہے۔ اس تفاعل کی دائرہ کار کے ہر نقطہ پر تفاعل کے ہر رتبہ کے تفرق پائے جاتے ہیں۔ اس کی ترسیم ہموار ہے (شکل ۵.۷۱) اور ہم قاعدہ سمسن سے بہترین نتائج توقع کرتے ہیں۔

ا. وقفہ $[0, \pi/2]$ پر $\left|f^{(4)}\right| \leq 1$ ہے۔ اس حقیقت کو استعمال کرتے ہوئے $n = 4$ لیتے ہوئے درج ذیل کو قاعدہ سمسن سے حاصل کرتے ہوئے خلل کی بالائی حد بندی تلاش کریں۔

$$\mathrm{Si}\left(\frac{\pi}{2}\right) = \int_0^{\pi/2} \frac{\sin t}{t}\,\mathrm{d}t$$

ب. $n = 4$ لیتے ہوئے قاعدہ سمسن سے $\mathrm{Si}(\pi/2)$ حاصل کریں۔

ج. جزو-ا میں خلل کو جزو-ب میں قیمت کا فی صد لکھیں۔

سوال ۵.۵۲۳: خلل کی حد بندی مساوات ۳ اور مساوات ۷ دیتی ہیں۔ حقیقت میں قاعدہ ذوزنقہ اور قاعدہ سمسن کے نتائج اس سے بہتر ہوں گے۔ مثال ۵.۵۳ میں $\int_0^{\pi} x \sin x\,\mathrm{d}x$ کی اندازاً قیمت کو قاعدہ ذوزنقہ سے حاصل کیا گیا۔

ا. قاعدہ ذوزنقہ میں $n = 10$ لیتے ہوئے تکمل کو دوبارہ حل کریں۔

ب. تکمل کی اصل قیمت π اور آپ کے حاصل کردہ جواب میں فرق دریافت کریں۔ آپ دیکھیں گے کہ مثال ۵.۵۳ میں $n = 10$ کے لئے حاصل خلل 0.133 سے موجودہ خلل بہت کم ہے۔

ج. ہم $[0, \pi]$ پر $\left|f''(x)\right| = |2\cos x - x\sin x|$ کی بہتر حد بندی معلوم کر کے مثال ۵.۵۳ میں $|E_T|$ کی بالائی حد بندی کو 0.133 سے بہتر بنا سکتے ہیں۔ $\left|f''(x)\right|$ کو کمپیوٹر پر ترسیم کر کے مطلوبہ خطہ کو بڑا کرتے ہوئے بہتر بالائی حد بندی دریافت کر کے اس کو بطور M لے کر $|E_T|$ کی بہتر قیمت تلاش کریں۔ آپ دیکھیں گے کہ جزو-ا میں حاصل نتیجہ اس سے بھی بہتر ہو ہے۔

سوال ۵.۵۲۴:

ا. دکھائیں کہ $f(x) = x\sin x$ کا چار بار تفرق $f^{(4)} = -4\cos x + x\sin x$ ہے۔ کمپیوٹر پر اس کو وقفہ $[0, \pi]$ پر ترسیم کر کے مطلوبہ خطہ کو بڑا کر کے اس کی بالائی حد بندی دیکھ کر دریافت کریں۔

ب. جزو-امیں حاصل قیمت کو M لے کر قاعدہ سمسن میں $n = 10$ لیتے ہوئے درج ذیل تکمل حاصل کرنے میں خلل کی بالائی حد بندی کو مساوات ۷ سے حاصل کریں۔

$$\int_0^{\pi} x \sin x \, \mathrm{d}x$$

ج. قاعدہ سمسن میں $n = 10$ لے کر $\int_0^{\pi} x \sin x \, \mathrm{d}x$ کی قیمت حاصل کریں۔

د. تکمل کی اصل قیمت π اور جزو-ج میں حاصل جواب میں فرق کو 6 اعشاریہ درستگی تک لکھیں۔ آپ دیکھیں گے کہ جزو-ب میں حاصل خلل کافی درست ہے۔

آپ سوال ۵.۵۲۵ اور سوال ۵.۵۲۶ کو قاعدہ سمسن سے حل کرنے سے پہلے درکار درستگی حاصل کرنے کی خاطر لمبائی قدم h کو مساوات ۷ سے جاننا چاہتے ہیں۔ کیا ہوتا ہے؟ کیا قاعدہ ذوزنقہ اور مساوات ۱۳ استعمال کرنے سے مسئلہ حل ہوتا ہے؟ اپنے جواب کی وجہ پیش کریں۔

سوال ۵.۵۲۵: $\int_0^4 x^{3/2} \, \mathrm{d}x$

سوال ۵.۵۲۶: $\int_0^1 x^{5/2} \, \mathrm{d}x$

اعدادی تکمل بذریعہ کمپیوٹر

جیسا پہلے بھی ذکر کیا گیا، بعض متکمل کے الٹ تفرق کا کلیہ نہیں پایا جاتا ہے یا بہت مشکل سے حاصل ہوتا ہے۔ اس طرز کے قطعی تکمل کی قیمت کو اعدادی ترکیب سے حاصل کیا جا سکتا ہے۔ سوال ۵.۵۲۷ تا سوال ۵.۵۳۰ کو کمپیوٹر کے ذریعہ اعدادی ترکیب سے حل کریں۔

سوال ۵.۵۲۷: $\int_0^1 \sqrt{1 + x^4} \, \mathrm{d}x$

سوال ۵.۵۲۸: $\int_0^{\pi/2} \frac{\sin x}{x} \, \mathrm{d}x$ تقسیم صفر سے بچنے کی خاطر آپ تکمل کو 0 کے بجائے بہت چھوٹے مثبت عدد مثلاً 10^{-6} سے شروع کریں گے۔

سوال ۵.۵۲۹: $\int_0^{\pi/2} \sin(x^2) \, \mathrm{d}x$ انکسار شعاع سے منسلک تکمل۔

سوال ۵.۵۳۰: $\int_0^{\pi/2} 40\sqrt{1 - 0.64 \cos^2 t} \, \mathrm{d}t$ ترخیم $\frac{x^2}{25} + \frac{y^2}{9} = 1$ کی لمبائی۔

باب ۶

تکمل کا استعمال

مجموعی جائزہ ہم بہت سی معلومات کو تکمل کی مدد سے حاصل کر سکتے ہیں: منحنیات کے بیچ رقبہ، ٹھوس اجسام کے حجم اور سطحی رقبے، منحنیات کی لمبائیاں، زیر زمین پانی کی نکاسی کے لئے درکار کام، سیلاب دروازوں پر اثر انداز قوتیں، ٹھوس اجسام کے نقطہ توازن کے محدد۔ ان تمام کو ہم بند وقفوں پر استمراری تفاعل کے ریمان مجموعوں کی حدوں یعنی تکمل سے ظاہر کر کے ان حدوں کو احصاء سے حل کرتے ہیں۔

عملی استعمال میں ان قطعی تکمل کو ایک مخصوص طرز سے لکھا جاتا ہے جس کو سیکھ کر بوقت ضرورت نئے تکمل لکھے جا سکتے ہیں۔ مخصوص عملی استعمال پر پہلے غور کیا جائے گا۔ اس کے بعد تکمل لکھنے کی طرز پر اور نئے تکمل لکھنے پر غور کیا جائے گا۔

۶.۱ منحنیات کے بیچ رقبہ

محددی مستوی میں خطے کی سرحدوں کو ظاہر کرنے والے تفاعل کے تکمل سے خطہ کے رقبہ کا حصول اس حصے میں دکھایا جائے گا۔

بنیادی کلیہ بطور ریمان مجموعوں کا حد

فرض کریں ایک خطہ کی بالائی سرحد منحنی $y = f(x)$ اور زیریں سرحد منحنی $y = g(x)$ ہیں جبکہ اس کا بایاں اور دایاں سرحد بالترتیب خط $x = a$ اور $x = b$ ہیں (شکل ۶.۱)۔ عین ممکن ہے کہ اس خطے کا رقبہ جیومیٹری سے حاصل کرنا ممکن ہو البتہ اختیاری استمراری f اور g کی صورت میں ہم عموماً رقبے کو تکمل سے حاصل کرتے ہیں۔

تکمل کی صورت دیکھنے کی خاطر ہم وقفہ $[a, b]$ پر خانہ بندی $P = \{x_0, x_1, \cdots, x_n\}$ کے تحت خطہ کو n انتصابی مستطیلوں میں تقسیم کرتے ہیں (شکل ۶.۲) جہاں k ویں مستطیل کا رقبہ درج ذیل ہو گا (شکل ۶.۳)۔

$$\Delta S_k = \text{قد} \times \text{چوڑائی} = [f(c_k) - g(c_k)]\Delta x_k$$

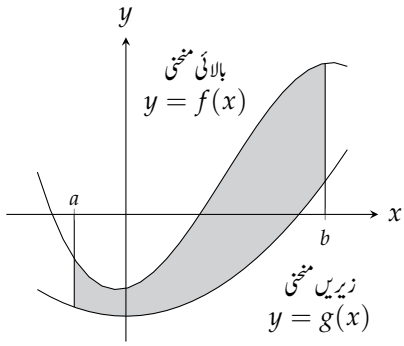

شکل ۶.۱: منحنیات $y = f(x)$، $y = g(x)$ اور لکیر $x = a$، $x = b$ کے بیچ خطہ۔

۸۲۷۶ اس کے بعد ہم خطے کے رقبہ کو تخمیناً ان n مستطیل رقبوں کا مجموعہ لیتے ہیں۔

$$S \approx \sum_{k=1}^{n} \Delta S_k = \sum_{k=1}^{n} [f(c_k) - g(c_k)]\Delta x_k \qquad \text{ریمان مجموعہ}$$

۸۲۷۷ چونکہ f اور g استمراری ہیں لہٰذا $\|P\| \to 0$ کرنے سے دائیں ہاتھ مجموعے کا حد $\int_a^b [f(x) - g(x)]\,\mathrm{d}x$ ہو گا:

$$S = \lim_{\|P\| \to 0} \sum_{k=1}^{n} [f(c_k) - g(c_k)]\Delta x_k = \int_a^b f(x)\,\mathrm{d}x$$

۸۲۷۸ تعریف: اگر پورے $[a, b]$ پر f اور g استمراری ہوں اور $f(x) \geq g(x)$ ہو تب a تا b منحنیات $f(x)$ اور $g(x)$ کے بیچ رقبہ
۸۲۷۹ a تا b متکمل $[f - g]$ کا تکمل ہو گا:

$$S = \int_a^b [f(x) - g(x)]\,\mathrm{d}x \tag{۱}$$

۸۲۸۰ □

۸۲۸۱ مساوات ۱ کو استعمال کرنے کے لئے ہم درج ذیل اقدام اٹھاتے ہیں۔

۸۲۸۲ دو منحنیات کے بیچ رقبے کی تلاش

۸۲۸۳ ۱. منحنیات ترسیم کر کے ایک نمائندہ مستطیل بنائیں۔ اس سے معلوم ہو گا کہ کونسی منحنی بالائی f اور کونسی زیریں g ہے۔ اس سے تکمل کی حد تعین کرنے میں
۸۲۸۴ بھی مدد ملتی ہے۔

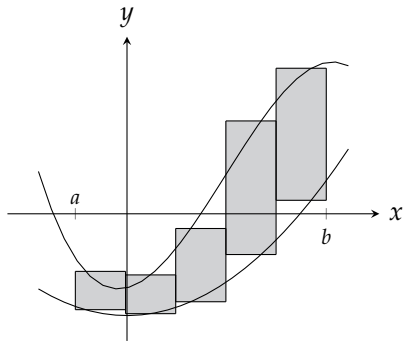

شکل ۶.۲: ہم خطہ کو تخمیناً x محور کے عمودی مستطیلوں کے برابر لیتے ہیں۔

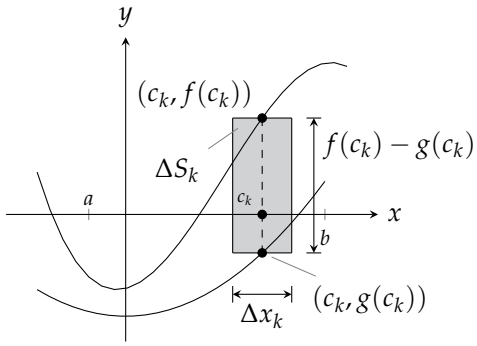

شکل ۶.۳: k ویں مستطیل کا قد $f(c_k) - g(c_k)$ اور اس کی چوڑائی Δx_k لہٰذا اس کا رقبہ $\Delta S_k = (f(c_k) - g(c_k))\Delta x_k$ ہوگا۔

۲. تکمل کی حد تلاش کریں۔

۳. متکمل $f(x) - g(x)$ کا کلیہ لکھیں۔ اگر ممکن ہو اس کی سادہ صورت حاصل کریں۔

۴. متکمل $[f(x) - g(x)]$ کا تکمل a تا b حاصل کریں۔ قطعی تکمل سے حاصل عدد رقبہ ہوگا۔

مثال ۶.۱: منحنیات $y = \sec^2 x$ اور $y = \sin x$ کے بیچ 0 تا $\frac{\pi}{4}$ رقبہ تلاش کریں۔

حل: **پہلا قدم:** ہم منحنیات ترسیم کر کے ایک نمائندہ مستطیل بناتے ہیں (شکل ۶.۴)۔ بالائی قوس $f(x) = \sec^2 x$ کی منحنی ہے جبکہ زیریں قوس $g(x) = \sin x$ کی منحنی ہے۔

دوسرا قدم: تکمل کی حدیں $a = 0$ اور $b = \frac{\pi}{4}$ دی گئی ہیں۔

تیسرا قدم: $f(x) - g(x) = \sec^x - \sin x$

چوتھا قدم:

$$S = \int_0^{\pi/4} (\sec^2 x - \sin x)\,\mathrm{d}x = [\tan x + \cos x]_0^{\pi/4} = \left[1 + \frac{\sqrt{2}}{2}\right] - [0 + 1] = \frac{\sqrt{2}}{2}$$

□

باہمی متقاطع منحنیات

جب ایک دوسرے کو قطع کرنے والی منحنیات کے بیچ خطہ پایا جاتا ہو تب نقاط تقاطع سے تکمل کی حدیں حاصل ہوں گی۔

مثال ۶.۲: قطع مکافی $y = 2 - x^2$ اور لکیر $y = -x$ کے بیچ رقبہ تلاش کریں۔

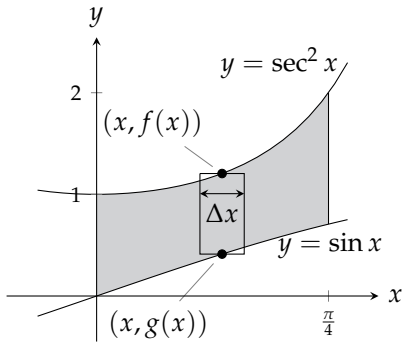

شکل ۶.۴: خطہ برائے مثال ۶.۱

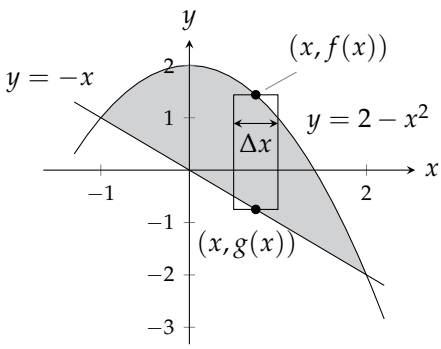

شکل ۶.۵: خطہ برائے مثال ۶.۲

۸۲۹۸ حل: **پہلا قدم:** منحنیات ترسیم کرتے ہوئے نمائندہ مستطیل بنائیں (شکل ۶.۵)۔ بالائی اور زیریں منحنیات کی نشاندہی کریں۔ ہم $f(x) = 2 - x^2$ اور $g(x) = -x$ لیتے ہیں۔ نقاط تقاطع کے x محدد تکمل کی حدیں ہوں گی۔

۸۲۹۹

۸۳۰۰ **دوسرا قدم:** تکمل کی حدیں جاننے کے لئے ہم $y = 2 - x^2$ اور $y = -x$ کو ایک ساتھ x کے لئے حل کرتے ہیں۔

$f(x)$ اور $g(x)$ کو برابر پر کریں	$2 - x^2 = -x$
ایک جانب منتقلی	$x^2 - x - 2 = 0$
تجزی	$(x+1)(x-2) = 0$
حل	$x = -1, \quad x = 2$

۸۳۰۱ خطہ $x = -1$ اور $x = 2$ کے بیچ پایا جاتا ہے۔

۸۳۰۲ **تیسرا قدم:** $f(x) - g(x) = (2 - x^2) - (-x) = 2 + x - x^2$

۸۳۰۳ **چوتھا قدم:**

$$\begin{aligned} S = \int_a^b [f(x) - g(x)]\,\mathrm{d}x = \int_{-1}^{2} (2 + x - x^2)\,\mathrm{d}x &= \left[2x + \frac{x^2}{2} - \frac{x^3}{3}\right]_{-1}^{2} \\ &= \left(4 + \frac{4}{2} - \frac{8}{3}\right) - \left(-2 + \frac{1}{2} + \frac{1}{3}\right) \\ &= 6 + \frac{3}{2} - \frac{9}{3} = \frac{9}{2} \end{aligned}$$

۸۳۰۴ □

۸۳۰۵ **فنیات** دو ترسیمات کا تقاطع

۸۳۰۶ تکمل کے حصول میں بعض اوقات تکمل کی حد کی تلاش سب سے زیادہ تنگ کرنے والا عمل ثابت ہوتا ہے۔ انہیں معلوم کرنے کے لئے ہمیں یا تو ایک تفاعل کے

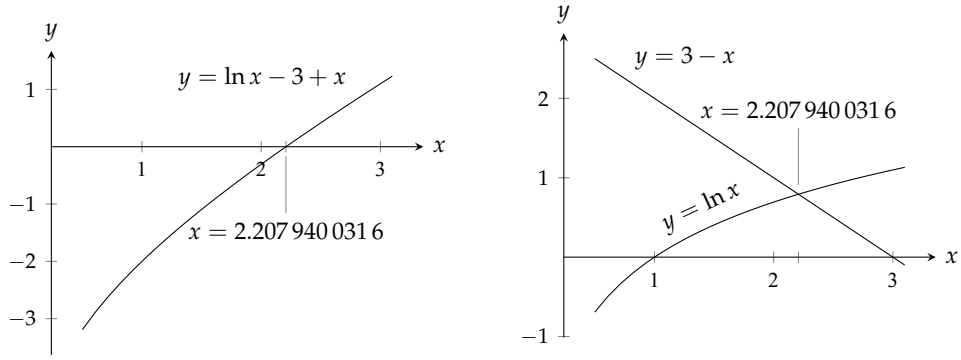

(ا) نقطہ تقاطع (ب) جذر

شکل ۶.۶: تقاطع $f(x)$ اور $g(x)$ کے حل کی تلاش۔

۸۳۰۷ جذر تلاش کرنے ہوتے ہیں اور یا دو منحنیات کا نقاط تقاطع۔

۸۳۰۸ مساوات $f(x) = g(x)$ حل کرنے کے لئے ہم $y = f(x)$ اور $y = g(x)$ کو کمپیوٹر پر ترسیم کرتے ہوئے نقاط تقاطع دیکھ کر معلوم کر
۸۳۰۹ سکتے ہیں۔ اس کے علاوہ ہم مساوات $f(x) - g(x) = 0$ کا جذر بھی کمپیوٹر کی مدد سے تلاش کر سکتے ہیں۔ ان دونوں تراکیب کو درج ذیل پر لاگو کر
۸۳۱۰ کے دیکھیں (شکل ۶.۶)۔

$$f(x) = \ln x, \quad g(x) = 3 - x$$

۸۳۱۱

۸۳۱۲ **تبدیل ہوتے کلیات والا سرحد**

۸۳۱۳ اگر سرحد کا کلیہ ایک یا ایک سے زیادہ نقطوں پر تبدیل ہوتا ہو تب ہم خطہ کو مطابقتی ذیلی خطوں میں تقسیم کرتے ہوئے ہر ذیلی خطے پر علیحدہ علیحدہ مساوات اکا
۸۳۱۴ اطلاق کرتے ہیں۔

۸۳۱۵ مثال ۶.۳: ربع اول میں $y = \sqrt{x}$ کے نیچے اور $y = x - 2$ کے اوپر رقبہ تلاش کریں۔

۸۳۱۶ حل: **پہلا قدم:** ترسیم (شکل ۶.۷) سے ہم دیکھتے ہیں کہ خطے کی بالائی سرحد $f(x) = \sqrt{x}$ ہے جبکہ $0 \le x \le 2$ پر اس کی نچلی سرحد
۸۳۱۷ $g(x) = 0$ اور $2 \le x \le 4$ پر نچلی سرحد $g(x) = x - 2$ ہے (نقطہ $x = 2$ پر $g(x)$ کے دونوں کلیات ایک سے ہیں)۔ ہم
۸۳۱۸ $x = 2$ پر خطہ کو دو ذیلی حصوں A اور B میں تقسیم کر کے دونوں ذیلی خطوں کے لئے نمائندہ مستطیل بناتے ہیں۔
۸۳۱۹ **دوسرا قدم:** خطہ A میں تکمل کی حدیں $a = 0$ اور $b = 2$ ہیں۔ خطہ B کا بایاں حد $a = 2$ ہے۔ اس کے دایاں حد جاننے کے لئے ہم

۸۳۲۰ مساوات $y = \sqrt{x}$ اور $y = x - 2$ کو ایک ساتھ حل کرتے ہیں۔

$f(x)$ اور $g(x)$ کے برابر پر کریں	$\sqrt{x} = x - 2$
مربع لیں	$x = (x-2)^2 = x^2 - 4x + 4$
ایک جانب منتقلی	$x^2 - 5x + 4 = 0$
تجزی	$(x-1)(x-4) = 0$
حل	$x = 1, \quad x = 4$

۸۳۲۱ صرف $x = 4$ مساوات $\sqrt{x} = x - 2$ کو مطمئن کرتا ہے جبکہ مربع لینے کی وجہ سے حل $x = 1$ پیدا ہوا ہے جس کو رد کیا جاتا ہے۔ یوں
۸۳۲۲ دایاں حد $b = 4$ ہے۔
۸۳۲۳ **تیسرا قدم:**

$$f(x) - g(x) = \sqrt{x} - 0 = \sqrt{x}, \qquad 0 \le x \le 2$$
$$f(x) - g(x) = \sqrt{x} - (x-2) = \sqrt{x} - x + 2, \qquad 2 \le x \le 4$$

۸۳۲۴ **چوتھا قدم:** ہم خطہ A اور B کے رقبوں کا مجموعہ لیتے ہیں۔

$$\begin{aligned}
S &= \int_0^2 \sqrt{x}\,\mathrm{d}x + \int_2^4 (\sqrt{x} - x + 2)\,\mathrm{d}x \\
&= \left[\frac{2}{3}x^{3/2}\right]_0^2 + \left[\frac{2}{3}x^{3/2} - \frac{x^2}{2} + 2x\right]_2^4 \\
&= \frac{2}{3}(2)^{3/2} - 0 + \left(\frac{2}{3}(4)^{3/2} - 8 + 8\right) - \left(\frac{2}{3}(2)^{3/2} - 2 + 4\right) \\
&= \frac{2}{3}(8) - 2 = \frac{10}{3}
\end{aligned}$$

۸۳۲۵ □

۸۳۲۶ ## تکمل بلحاظ y

۸۳۲۷ اگر سرحد کی مساواتیں y کی تفاعل ہوں تب تخمینی مستطیل کو انتصابی کے بجائے افقی بنایا جاتا ہے اور بنیادی کلیہ میں x کی جگہ y پایا جائے گا (شکل ۶.۸):

$$S = \int_c^d [f(y) - g(y)]\,\mathrm{d}y \tag{۲}$$

۸۳۲۸

۸۳۲۹ مثال ۶.۴: درج بالا مثال ۶.۳ کو اس بار مساوات ۲ کی مدد سے حل کریں۔

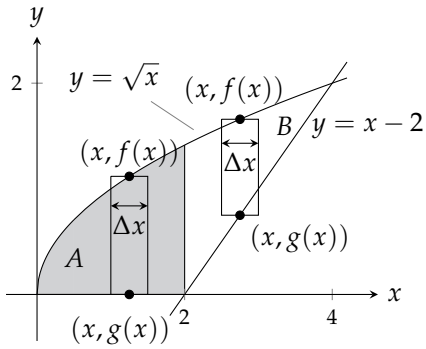

شکل ۶.۷: خطہ برائے مثال ۶.۳

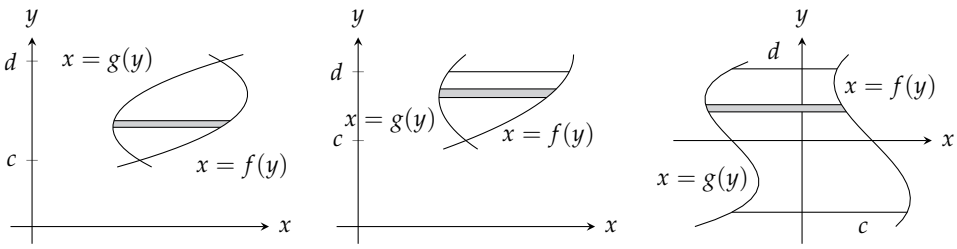

شکل ۶.۸: ان اشکال میں دایاں سرحد f اور بایاں سرحد g ہو گا لہٰذا $f(y) - g(y)$ غیر منفی ہو گا۔

حل: **پہلا قدم:** ہم خطہ ترسیم کر کے نمائندہ افقی مستطیل بناتے ہیں (شکل ۶.۸)۔ خطے کا دایاں سرحد لکیر $x = y + 2$ ہے لہٰذا $f(y) = y + 2$ ہوگا۔ خطے کا بایاں سرحد $x = y^2$ ہے لہٰذا $g(y) = y^2$ ہوگا۔

دوسرا قدم: تکمل کا زیریں حد $y = 0$ ہے۔ تکمل کا بالائی حد جاننے کے لئے ہم $x = y + 2$ اور $x = y^2$ کو y کے لئے حل کرتے ہیں:

$$\begin{aligned} y + 2 &= y^2 && f \text{ کو } g \text{ کے برابر پر کرتے ہیں} \\ y^2 - y - 2 &= 0 && \text{ایک ہاتھ منتقلی} \\ (y+1)(y-2) &= 0 && \text{تجزی} \\ y = -1, \quad y &= 2 && \text{حل} \end{aligned}$$

تکمل کا بالائی حد $y = 2$ ہے (چونکہ $y = -1$ افقی محور سے نیچے تقاطع کا نقطہ تقاطع دیتا ہے)۔

تیسرا قدم:

$$f(y) - g(y) = y + 2 - y^2 = 2 + y - y^2$$

چوتھا قدم:

$$\begin{aligned} S = \int_a^b [f(y) - g(y)]\,\mathrm{d}y &= \int_0^2 [2 + y - y^2]\,\mathrm{d}y \\ &= \left[2y + \frac{y^2}{2} - \frac{y^3}{3}\right]_0^2 \\ &= 4 + \frac{4}{2} - \frac{8}{3} = \frac{10}{3} \end{aligned}$$

یہ وہی جواب ہے جو مثال ۶.۳ میں حاصل کی گیا۔ مثال ۶.۳ میں دو تکمل حل کرنے کی ضرورت پیش آئی جبکہ یہاں ایک ہی تکمل سے رقبہ معلوم کرنا ممکن تھا۔ □

تکمل کے ساتھ جیومیٹریائی کلیات کا استعمال

تکمل اور جیومیٹریائی کلیات کو ملا کر رقبہ نسبتاً زیادہ جلد حاصل ہوتا ہے۔

مثال ۶.۵: مزید ایک بار مثال ۶.۳ میں دیے گئے خطے کا رقبہ تلاش کریں۔

حل: ہم $0 \le x \le 4$ محور x اور $y = \sqrt{x}$ کے بیچ رقبہ سے تلا 2 اور قد 2 کے تکون کا رقبہ منفی کرتے ہوئے درکار خطے کا رقبہ تلاش کر

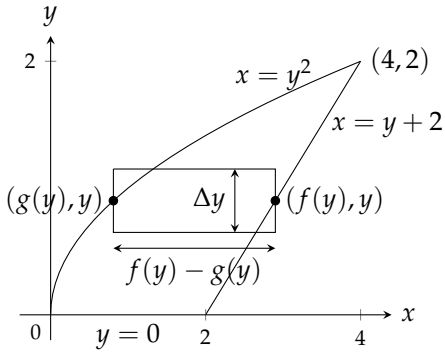

شکل ۶.۹: خطہ برائے مثال ۶.۴

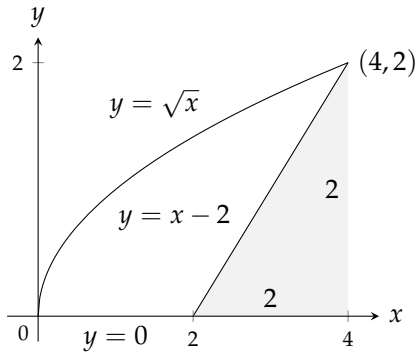

شکل ۶.۱۰: بالائی منحنی کے نیچے خطہ سے تکون منفی کرنے سے رقبہ حاصل ہوگا۔

۸۳۴۳ سکتے ہیں۔

$$
\begin{aligned}
S &= \int_0^4 \sqrt{x}\,\mathrm{d}x - \frac{1}{2}(2)(2) \\
&= \frac{2}{3}x^{3/2}\Big]_0^4 - 2 \\
&= \frac{2}{3}(8) - 0 - 2 = \frac{10}{3}
\end{aligned}
$$

۸۳۴۴ □

۸۳۴۵ گزشتہ تین مثالوں میں آپ نے دیکھا کہ دو منحنیات کے بیچ رقبہ بعض اوقات x کے بجائے y کے ساتھ تکمل لے کر نسبتاً آسانی سے حاصل ہوتا ہے۔ اسی
۸۳۴۶ طرح بعض اوقات تکمل اور جیومیٹری کے کلیات کو ملا کر جلد جواب حاصل ہوتا ہے۔ یوں تکمل لکھنے سے پہلے مسئلے پر غور کرنا بہتر ہوگا۔

۸۳۴۷ سوالات

۸۳۴۸ سوال ۶.۱ تا سوال ۶.۸ میں سایہ دار رقبہ تلاش کریں۔

۸۳۴۹ سوال ۶.۱: سایہ دار خطہ شکل ۶.۱۱ جہاں سرحد $y = 1$ اور $y = \cos^2 x$ ہیں۔

۸۳۵۰ سوال ۶.۲: سایہ دار خطہ شکل ۶.۱۲ جہاں سرحد $y = \frac{1}{2}\sec^2 t$ ، $y = -4\sin^2 t$ ، $y = -\frac{\pi}{3}$ اور $y = \frac{\pi}{3}$ ہیں۔

۸۳۵۱ سوال ۶.۳: سایہ دار خطہ شکل ۶.۱۳ جہاں سرحد $x = y^3$ اور $x = y^2$ ہیں۔

۸۳۵۲ سوال ۶.۴: سایہ دار خطہ شکل ۶.۱۴ جہاں سرحد $x = 12y^2 - 12y^3$ اور $x = 2y^2 - 2y$ ہیں۔

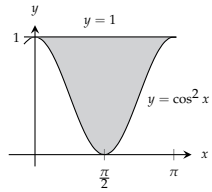

شکل ۶.۱۱

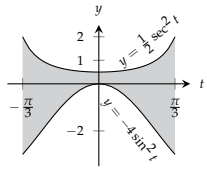

شکل ۶.۱۲

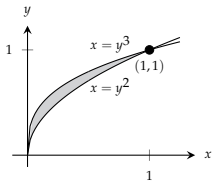

شکل ۶.۱۳

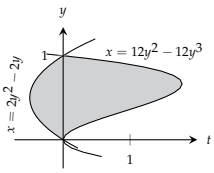

شکل ۶.۱۴

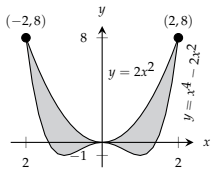

شکل ۶.۱۵

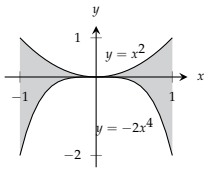

شکل ۶.۱۶

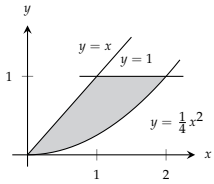

شکل ۶.۱۷

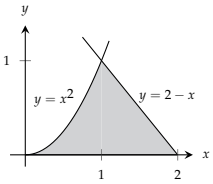

شکل ۶.۱۸

۸۳۵۳ سوال ۶.۵: سایہ دار خطہ شکل ۶.۱۵ جہاں سرحد $y = 2x^2$ اور $y = x^4 - 2x^2$ ہیں۔

۸۳۵۴ سوال ۶.۶: سایہ دار خطہ شکل ۶.۱۶ جہاں سرحد $y = x^2$ ، $y = -2x^4$ ، $x = -1$ اور $x = 1$ ہیں۔

۸۳۵۵ سوال ۶.۷: سایہ دار خطہ شکل ۶.۱۷ جہاں سرحد $y = 1$ ، $y = x$ اور $y = \frac{x^2}{4}$ ہیں۔

۸۳۵۶ سوال ۶.۸: سایہ دار خطہ شکل ۶.۱۸ جہاں سرحد $y = x^2$ ، $y = 2 - x$ اور $y = 0$ ہیں۔

۸۳۵۷

۸۳۵۸ سوال ۶.۹ تا سوال ۶.۱۲ میں کل سایہ دار رقبہ تلاش کریں۔

۸۳۵۹ سوال ۶.۹: سایہ دار رقبہ شکل ۶.۱۹ جہاں سرحد $y = x^2 - 4$ ، $y = -x^2 - 2x$ اور $x = -3$ ہیں۔

۸۳۶۰ سوال ۶.۱۰: سایہ دار رقبہ شکل ۶.۲۰ جہاں سرحد $y = -x^2 + 3x$ اور $y = 2x^3 - x^2 - 5x$ ہیں۔

۸۳۶۱ سوال ۶.۱۱: سایہ دار رقبہ شکل ۶.۲۱ جہاں سرحد $y = 4 - x^2$ ، $y = 2 - x$ ، $x = -2$ اور $x = 3$ ہیں۔

۸۳۶۲ سوال ۶.۱۲: سایہ دار رقبہ شکل ۶.۲۲ جہاں سرحد $y = \frac{x^3}{3} - x$ ، $y = \frac{x}{3}$ اور $x = 3$ ہیں۔

۸۳۶۳

۸۳۶۴ سوال ۶.۱۳ تا سوال ۶.۲۲ میں محیط خطے کی سرحدی منحنیات اور لکیریں دی گئی ہیں۔ خطے کا رقبہ دریافت کریں۔

۸۳۶۵ سوال ۶.۱۳: $y = x^2 - 2, \quad y = 2$

۸۳۶۶ سوال ۶.۱۴: $y = 2x - x^2, \quad y = -3$

۸۳۶۷ سوال ۶.۱۵: $y = x^4, \quad y = 8x$

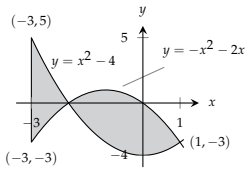

شکل ۶.۱۹

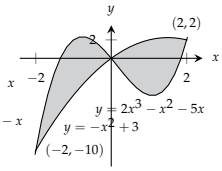

شکل ۶.۲۰

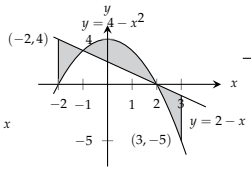

شکل ۶.۲۱

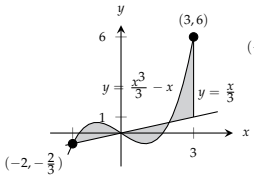

شکل ۶.۲۲

۸۳۶۸ سوال ۶.۱۶: $y = x^2 - 2x, \quad y = x$

۸۳۶۹ سوال ۶.۱۷: $y = x^2, \quad y = -x^2 + 4x$

۸۳۷۰ سوال ۶.۱۸: $y = 7 - 2x^2, \quad y = x^2 + 4$

۸۳۷۱ سوال ۶.۱۹: $y = x^4 - 4x^2 + 4, \quad y = x^2$

۸۳۷۲ سوال ۶.۲۰: $y = x\sqrt{a^2 - x^2}, \quad a > 0, \quad y = 0$

۸۳۷۳ سوال ۶.۲۱: $y = \sqrt{|x|}, \quad 5y = x + 6$ کتنے نقاط تقاطع پائے جاتے ہیں؟

۸۳۷۴ سوال ۶.۲۲: $y = \left|x^2 - 4\right|, \quad y = \frac{x^2}{2} + 4$

۸۳۷۵

۸۳۷۶ سوال ۶.۲۳ تا سوال ۶.۳۰ میں دی گئی منحنیات اور لکیروں کے بیچ رقبہ تلاش کریں۔

۸۳۷۷ سوال ۶.۲۳: $x = 2y^2, \quad x = 0, \quad y = 3$

۸۳۷۸ سوال ۶.۲۴: $x = y^2, \quad x = y + 2$

۸۳۷۹ سوال ۶.۲۵: $y^2 - 4x = 4, \quad 4x - y = 16$

۸۳۸۰ سوال ۶.۲۶: $x - y^2 = 0, \quad x + 2y^2 = 3$

۸۳۸۱ سوال ۶.۲۷: $x + y^2 = 0, \quad x + 3y^2 = 2$

۸۳۸۲ سوال ۶.۲۸: $x - y^{2/3} = 0, \quad x + y^4 = 2$

۸۳۸۳ سوال ۶.۲۹: $x = y^2 - 1, \quad x = |y|\sqrt{1 - y^2}$

۸۳۸۴ سوال ۶.۳۰: $x = y^3 - y^2, \quad x = 2y$

۸۳۸۵

۸۳۸۶ سوال ۶.۳۱ تا سوال ۶.۳۴ میں محیط رقبہ تلاش کریں۔ رقبے کی سرحدی منحنیات اور لکیریں دی گئی ہیں۔

۸۳۸۷ سوال ۶.۳۱: $4x^2 + y = 4, \quad x^4 - y = 1$

۸۳۸۸ سوال ۶.۳۲: $x^3 - y = 0, \quad 3x^2 - y = 4$

۸۳۸۹ سوال ۶.۳۳: $x + 4y^2 = 4 \quad x + y^4 = 1, \quad x \geq 0$

۸۳۹۰ سوال ۶.۳۴: $x + y^2 = 3, \quad 4x + y^2 = 0$

۸۳۹۱

۸۳۹۲ سوال ۶.۳۵ تا سوال ۶.۴۲ میں محیط رقبے کی سرحدی منحنیات اور لکیریں دی گئی ہیں۔ رقبہ معلوم کریں۔

۸۳۹۳ سوال ۶.۳۵: $y = 2\sin x, \quad y = \sin 2x, \quad 0 \leq x \leq \pi$

۸۳۹۴ سوال ۶.۳۶: $y = 8\cos x, \quad y = \sec^2 x, \quad -\frac{\pi}{3} \leq x \leq \frac{\pi}{3}$

۸۳۹۵ سوال ۶.۳۷: $y = \cos(\frac{\pi x}{2}), \quad y = 1 - x^2$

۸۳۹۶ سوال ۶.۳۸: $y = \sin(\frac{\pi x}{2}), \quad y = x$

۸۳۹۷ سوال ۶.۳۹: $y = \sec^2 x, \quad y = \tan^2 x, \quad x = -\frac{\pi}{4}, \quad x = \frac{\pi}{4}$

۸۳۹۸ سوال ۶.۴۰: $x = \tan^2 y, \quad x = -\tan^2 y, \quad -\frac{\pi}{4} \leq y \leq \frac{\pi}{4}$

۸۳۹۹ سوال ۶.۴۱: $x = 3\sin y\sqrt{\cos y}, \quad x = 0, \quad 0 \leq y \leq \frac{\pi}{2}$

۸۴۰۰ سوال ۶.۴۲: $y = \sec^2(\frac{\pi x}{3}), \quad y = x^{1/3}, \quad -1 \leq x \leq 1$

۸۴۰۱

۸۴۰۲ سوال ۶.۴۳: ہوائی جہاز کے پنکھے کی طرح کا خطہ $x - y^3 = 0$ اور $x - y = 0$ گھیرتے ہیں۔ اس خطے کا رقبہ دریافت کریں۔

۸۴۰۳ سوال ۶.۴۴: پنکھا نما خطہ $x - y^{1/3} = 0$ اور $x - y^{1/5} = 0$ کے بیچ پایا جاتا ہے۔ اس خطے کا رقبہ معلوم کریں۔

۸۴۰۴ سوال ۶.۴۵: ربع اول میں لکیر $y = x$، لکیر $x = 2$، منحنی $y = \frac{1}{x^2}$ اور x محور کے بیچ رقبہ تلاش کریں۔

۸۴۰۵ سوال ۶.۴۶: ربع اول میں بائیں جانب y محور اور دائیں جانب منحنیات $y = \sin x$ اور $y = \cos x$ تکون نما خطہ گھیرتے ہیں۔ اس کا رقبہ
۸۴۰۶ معلوم کریں۔

۸۴۰۷ سوال ۶.۴۷: بالائی جانب لکیر $y = 4$ اور نیچے سے قطع مکافی $y = x^2$ میں محیط رقبہ کو افقی خط $y = c$ دو برابر ذیلی خطوں میں تقسیم کرتا
۸۴۰۸ ہے۔

۸۴۰۹ ا. خطے کا خاکہ کھینچیں اور اس پر افقی لکیر $y = c$ انداز اً درست مقام پر بنائیں۔ قطع مکافی اور افقی لکیر جن نقطوں پر متقاطع ہیں، ان نقطوں کو c کی روپ
۸۴۱۰ میں دریافت کر کے خاکے پر دکھائیں۔

۸۴۱۱ ب. y کے لحاظ سے تکمل لے کر c کی قیمت معلوم کریں۔ (تکمل کی حد میں c پایا جائے گا۔)

۸۴۱۲ ج. x کے لحاظ سے تکمل لے کر c کی قیمت معلوم کریں۔ (اس مرتبہ c متکمل میں بھی پایا جائے گا۔)

۸۴۱۳ سوال ۶.۴۸: منحنی $y = 3 - x^2$ اور لکیر $y = -1$ کے بیچ رقبہ (ا) x کے لحاظ سے، (ب) y کے لحاظ سے تکمل لے کر معلوم کریں۔

۸۴۱۴ سوال ۶.۴۹: ربع اول میں بائیں جانب y محور، نیچے لکیر $y = \frac{x}{4}$، بالائی بائیں منحنی $y = 1 + \sqrt{x}$ اور بالائی دائیں منحنی $y = \frac{2}{\sqrt{x}}$
۸۴۱۵ ایک رقبہ گھیرتے ہیں۔ اس رقبہ کو تلاش کریں۔

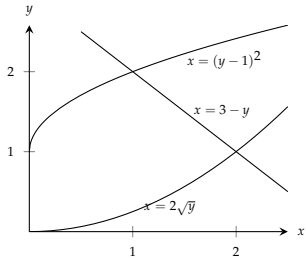

شکل ۶.۲۳: خطہ برائے سوال ۶.۵۰

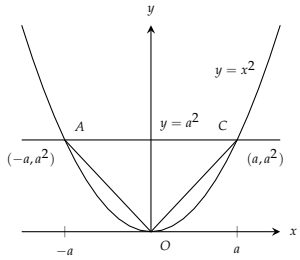

شکل ۶.۲۴: خطہ برائے سوال ۶.۵۱

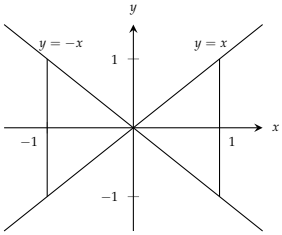

شکل ۶.۲۵: خطہ برائے سوال ۶.۵۳

۸۴۱۶ سوال ۶.۵۰: ربع اول میں بائیں جانب y محور، نیچے لکیر $x = 2\sqrt{y}$، بالائی بائیں منحنی $x = (y-1)^2$ اور بالائی دائیں منحنی $x = 3 - y$ ایک رقبہ گھیرتے ہیں۔ اس رقبہ کو تلاش کریں (شکل ۶.۲۳)۔

۸۴۱۸ سوال ۶.۵۱: قطع مکافی $y = x^2$ میں محصور تکون AOB شکل ۶.۲۴ میں دکھایا گیا ہے۔ تکون کا بالائی ضلع لکیر $y = a^2$ ہے۔ تکون اور قطع مکافی کے رقبوں کی نسبت کی حد $a \to 0$ کر کے تلاش کریں۔

۸۴۲۰ سوال ۶.۵۲: مثبت استمراری تفاعل f اور $a \leq x \leq b$ پر x محور کے بیچ رقبہ 4 ہے۔ منحنی $y = f(x)$ اور $y = 2f(x)$ کے بیچ رقبہ $x = a$ تا $x = b$ رقبہ تلاش کریں۔

۸۴۲۲ سوال ۶.۵۳: درج ذیل میں سے کونسا مکمل شکل ۶.۲۵ میں دکھایا گیا رقبہ دیتا ہے؟ اپنے جواب کی وجہ پیش کریں۔

۸۴۲۳ ا. $\int_{-1}^{1}(x-(-x))\,\mathrm{d}x = \int_{-1}^{1} 2x\,\mathrm{d}x$

۸۴۲۴ ب. $\int_{-1}^{1}(-x-(x))\,\mathrm{d}x = \int_{-1}^{1} -2x\,\mathrm{d}x$

۸۴۲۵ سوال ۶.۵۴: کیا استمراری تفاعل $y = f(x)$ اور $y = g(x)$ اور انتصابی لکیروں $x = a$ اور $x = b$ جہاں $a < b$ ہے کے بیچ رقبہ درج ذیل دیتا ہے؟ درست، کبھی کبھار درست یا کبھی نہیں؟ اپنے جواب کی وجہ پیش کریں۔

$$\int_a^b [f(x) - g(x)]\,\mathrm{d}x$$

۸۴۲۷ کمپیوٹر کا استعمال

۸۴۲۸ سوال ۶.۵۵ تا سوال ۶.۵۸ میں مستوی میں منحنیات کے بیچ رقبہ تلاش کریں۔ جہاں منحنیات کے نقاط تقاطع تلاش کرنا دشوار ہو وہاں کمپیوٹر کا سہارا لیتے ہوئے
۸۴۲۹ درج ذیل اقدام سرانجام دیں۔

۸۴۳۰ ا. منحنیات کو ایک ساتھ ترسیم کرتے ہوئے خطہ کی عمومی صورت دیکھیں اور نقاط تقاطع کی تعداد جانیں۔

۸۴۳۱ ب. نقاط تقاطع کو اعدادی تراکیب سے تلاش کریں۔

۸۴۳۲ ج. یک بعد دیگرے جوڑی نقاط تقاطع کے بیچ $|f(x) - g(x)|$ کا مکمل حل کریں۔

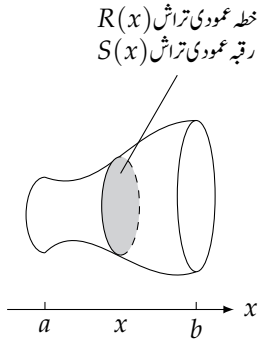

شکل ۶.۲۶: عمودی تراش $R(x)$ کا رقبہ $S(x)$ متغیر x کا استمراری تفاعل ہونے کی صورت میں ہم ٹھوس جسم کا حجم $x = a$ تا $x = b$ تفاعل $S(x)$ کا تکمل لے کر حاصل کر سکتے ہیں۔

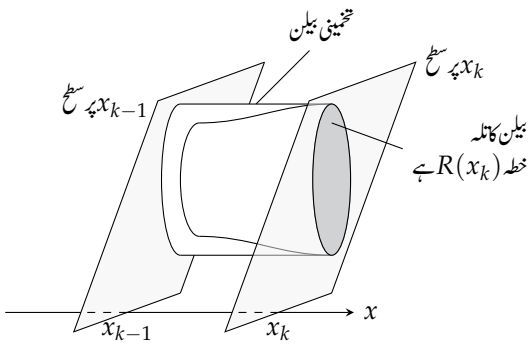

شکل ۶.۲۷: سطح x_{k-1} اور x_k کے بیچ کتلا کو بڑا کر کے دکھایا گیا ہے اور ساتھ ہی تخمینی بیلن بھی دکھایا گیا ہے۔

د. جزو-ج میں تکمل کی حاصل قیمتوں کا مجموعہ لیں۔

سوال ۶.۵۵: $f(x) = \frac{x^3}{3} - \frac{x^2}{2} - 2x + \frac{1}{3}, \quad g(x) = x - 1$

سوال ۶.۵۶: $f(x) = \frac{x^4}{2} - 3x^3 + 10, \quad g(x) = 8 - 12x$

سوال ۶.۵۷: $f(x) = x + \sin(2x), \quad g(x) = x^3$

سوال ۶.۵۸: $f(x) = x^2 \cos x, \quad g(x) = x^3 - x$

۶.۲ ٹکیاں کاٹ کر حجم کی تلاش

قوسی سرحد کے خطوں کے رقبہ عمودی تراش سے بیلنی حجم معلوم کرنے کے لئے رقبہ عمودی تراش کو بیلن کے قد سے ضرب دیا جاتا ہے۔ اس طرز کے بیلنی حجم سے دیگر اشکال کے خطوں کا حجم تلاش کیا جا سکتا ہے۔

ٹکیاں

فرض کریں ہم شکل ۶.۲۶ میں دکھائے گئے ٹھوس جسم کا حجم دریافت کرنا چاہتے ہیں۔ بند وقفہ $[a, b]$ کے ہر نقطہ x پر جسم کا عمودی تراش خطہ $R(x)$ ہے جس کا رقبہ $S(x)$ ہے۔ یوں S متغیر x کا حقیقی قیمت تفاعل ہو گا جو x کا استمراری تفاعل بھی ہو گا۔ اس کو استعمال کرتے ہوئے جسم کے حجم کی تعریف پیش کی جا سکتی ہے جس کو درج ذیل طریقہ سے حاصل کیا جا سکتا ہے۔

ہم x محور کے لحاظ سے وقفہ $[a, b]$ کی خانہ بندی کر کے جسم کو خانہ بند نقطوں پر x محور کے عمودی سطحوں سے کتلوں میں تقسیم کرتے ہیں۔ یوں نقطہ x_{k-1} اور x_k پر سطحوں کے بیچ k ویں کتلا کا حجم تقریباً اس بیلن جتنا ہو گا جو ان سطحوں کے بیچ پایا جاتا ہے اور جس کا عمودی تراش خطہ $R(x_k)$ ہے (شکل ۶.۲۷)۔ اس بیلن کا حجم درج ذیل ہو گا۔

$$\begin{aligned} H_k &= \text{قد} \times \text{رقبہ تلہ} \\ &= S(x_k) \times (x_k \text{ اور } x_{k-1} \text{ کے بیچ فاصلہ}) \\ &= S(x_k)\Delta x_k \end{aligned}$$

اس طرح تمام چھوٹے بیلنوں کے حجم کا مجموعہ تخمیناً ٹھوس جسم کے حجم کے برابر ہو گا:

$$\sum_{k=1}^{n} S(x_k)\Delta x_k$$

یہ وقفہ $[a, b]$ پر تفاعل $S(x)$ کا ریمان مجموعہ ہے۔ ہم توقع کرتے ہیں۔ کہ جیسے جیسے $[a, b]$ کی خانہ بندی کا معیار صفر تک پہنچے ویسے ویسے یہ مجموعے اصل حجم کی بہتر سے بہتر عکاسی کریں گے۔ یوں ٹھوس جسم کے حجم کی تعریف ان مجموعوں کا تحدیدی تکمل ہو گا۔

تعریف: ایسا ٹھوس جسم جس کا رقبہ عمودی تراش $S(x)$ قابل تکمل تفاعل ہو، کا $x = a$ سے $x = b$ تک حجم $x = a$ تا $x = b$ تفاعل S کا تکمل ہو گا:

$$H = \int_a^b S(x)\,\mathrm{d}x \tag{۱}$$

□

مساوات ۱ استعمال کرنے کے لئے درج ذیل تین اقدام کرنے ہوں گے۔

ٹھوس جسم کی ٹکیوں سے حجم کی تلاش

۱. ٹھوس جسم اور اس کے نمائندہ عمودی تراش کا خاکہ کھینچیں۔

۲. رقبہ عمودی تراش $S(x)$ کا کلیہ اخذ کریں۔

۳. تکمل کا زیریں اور بالائی حد تلاش کریں۔

۴. حجم معلوم کرنے کی خاطر $S(x)$ کا تکمل حل کریں۔

مثال ۶.۶: ایک اہرام کا قد $3\,\mathrm{m}$ اور اس کے چوکور بنیاد کا ضلع $3\,\mathrm{m}$ ہے۔ اہرام کی چوٹی سے x میٹر نیچے اہرام کا رقبہ عمودی تراش چوکور ہو گا جس کا ضلع x میٹر ہو گا۔ اس اہرام کا حجم تلاش کریں۔

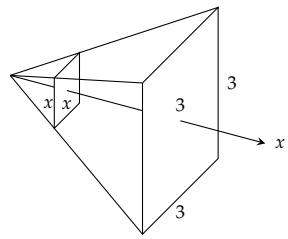

شکل ۶.۲۸: اہرام (مثال ۶.۶)

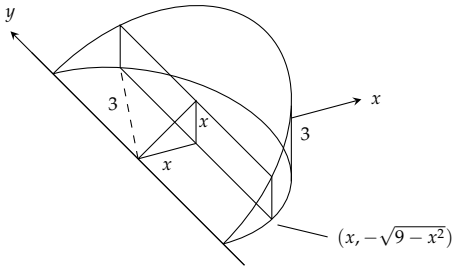

شکل ۶.۲۹: قوسی پچر (مثال ۶.۷)

۸۳۶۵ حل: **پہلا قدم:** خاکہ۔ ہم اہرام کی چوٹی کو مبدا پر رکھ کر اہرام کو x محور پر لیٹا ہوا بنا کر نمائندہ رقبہ عمودی تراش بناتے ہیں (شکل ۶.۲۸)۔

۸۳۶۶ **دوسرا قدم:** کلیہ برائے $S(x)$ ۔ چونکہ چوکور رقبہ عمودی تراش کا ضلع x میٹر ہے لہذا اس کا رقبہ عمودی تراش $S(x) = x^2$ ہوگا۔

۸۳۶۷ **تیسرا قدم:** تکمل کی حدیں۔ چوکور $x = 0$ تا $x = 3$ پائے جاتے ہیں لہذا $a = 0$ اور $b = 3$ ہوں گے۔

۸۳۶۸ **چوتھا قدم:** حجم۔

$$H = \int_a^b S(x)\,\mathrm{d}x = \int_0^3 x^2\,\mathrm{d}x = \left.\frac{x^3}{3}\right|_0^3 = 9$$

۸۳۶۹ یوں اہرام کا حجم $9\,\mathrm{m}^3$ ہوگا۔ □

۸۳۷۰ مثال ۶.۷: رداس 3 کے بیلن کو دو مستوی سے کاٹ کر قوسی پچر بنایا جاتا ہے۔ ایک مستوی بیلن کے محور کا عمودی ہے جبکہ دوسرا مستوی پہلے مستوی کو
۸۳۷۱ بیلن کے وسط پر $45°$ سے قطع کرتا ہے۔ پچر کا حجم تلاش کریں۔

۸۳۷۲ حل: **پہلا قدم:** خاکہ۔ ہم پچر اور نمائندہ عمودی تراش کا خاکہ بناتے ہیں (شکل ۶.۲۹)۔ عمودی تراش x محور کے عمودی ہے۔

۸۳۷۳ **دوسرا قدم:** کلیہ برائے $S(x)$ ۔ نقطہ x پر مستطیل عمودی تراش کا رقبہ درج ذیل ہوگا۔

$$S(x) = (\text{قد})(\text{چوڑائی}) = (x)(2\sqrt{9-x^2}) = 2x\sqrt{9-x^2}$$

۸۳۷۴ **تیسرا قدم:** تکمل کی حدیں۔ مستطیل $x = 0$ تا $x = 3$ پائے جاتے ہیں۔

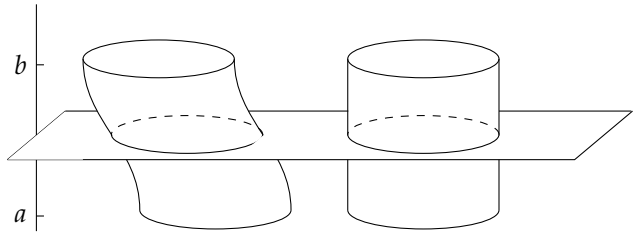

شکل ۶.۳۰: ان اجسام کا حجم ایک دوسرے جیسا ہے۔ آپ سکوں کو ایک دوسرے کے اوپر رکھ کر اس کو ثابت کر سکتے ہیں۔

۸۴۷۵ **چوتھا قدم:** حجم۔ درج ذیل میں $u = 9 - x^2$ لہٰذا $\mathrm{d}u = -2x\,\mathrm{d}x$ لے کر تکمل حاصل کریں۔

$$\begin{aligned} H = \int_a^b S(x)\,\mathrm{d}x &= \int_0^3 2x\sqrt{9-x^2}\,\mathrm{d}x \\ &= -\frac{2}{3}(9-x^2)^{3/2}\Big|_0^3 \\ &= 0 + \frac{2}{3}(9)^{3/2} \\ &= 18 \end{aligned}$$

۸۴۷۶ □

۸۴۷۷ **مثال ۶.۸:** مسئلہ کوالیئرے[1] محور x پر پڑے ہوئے ایسے دو اجسام جن کا ہر x پر رقبہ عمودی تراش ایک دوسرے جیسا ہو کا حجم بھی ایک دوسرے جیسا ہو گا۔

۸۴۷۸ یہ حقیقت مساوات اسے صاف ظاہر ہے چونکہ دونوں اجسام کا رقبہ عمودی تراش تفاعل $S(x)$ ایک دوسرے جیسا ہے (شکل ۶.۳۰)۔ □

۸۴۷۹ **سوالات**

۸۴۸۰ **رقبہ عمودی تراش**

۸۴۸۱ سوال ۶.۵۹ اور سوال ۶.۶۰ میں x محور کے عمودی، ٹھوس جسم کے، رقبہ عمودی تراش $S(x)$ کا کلیہ اخذ کریں۔

۸۴۸۲ سوال ۶.۵۹: ایک ٹھوس جسم $x = -1$ اور $x = 1$ پر x محور کے عمودی سطحوں کے بیچ پایا جاتا ہے۔ x محور کے عمودی جسم کے رقبہ عمودی

۸۴۸۳ تراش نصف دائرہ $y = -\sqrt{1-x^2}$ اور نصف دائرہ $y = \sqrt{1-x^2}$ کے بیچ پائے جاتے ہیں۔

۸۴۸۴ ا. عمودی تراش دائری اقراص ہیں جن کے قطر xy مستوی میں ہیں (شکل ۶.۳۱-ا)۔

۸۴۸۵ ب. عمودی تراش چوکور ہیں جن کے قاعدے xy مستوی میں ہیں (شکل ۶.۳۱-ب)۔

[1] اطالوی ریاضی دان بوناونتورا کوالیئرے [1598-1647]

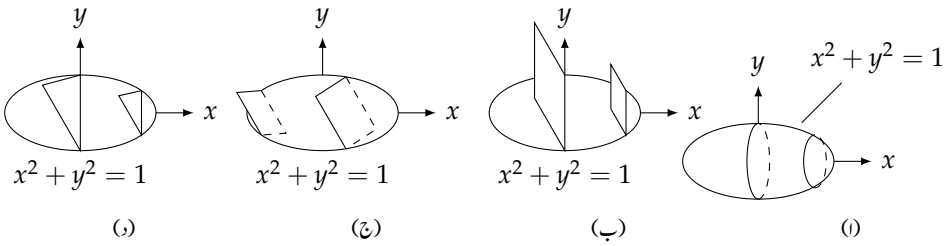

شکل ۶.۳۱: عمودی تراش برائے سوال ۶.۵۹

شکل ۶.۳۲: عمودی تراش برائے سوال ۶.۶۰

۸۳۸۶ ج. عمودی تراش چوکور ہیں جن کے وتر xy مستوی میں ہیں۔ چوکور کے وتر کی لمبائی چوکور کے ضلع کے $\sqrt{2}$ گنّا ہوتی ہے (شکل ۶.۳۱-ج)۔

۸۳۸۷ د. عمودی تراش مساوی الاضلاع مثلث ہیں جن کے قاعدے xy مستوی میں ہیں (شکل ۶.۳۱-د)۔

۸۳۸۸

۸۳۸۹ سوال ۶.۶۰: ایک ٹھوس جسم $x = 0$ اور $x = 4$ پر x محور کے عمودی سطحوں کے بیچ پایا جاتا ہے۔ x محور کے عمودی جسم کے رقبہ عمودی
۸۳۹۰ تراش، قطع مکافی $y = -\sqrt{x}$ اور قطع مکافی $y = \sqrt{x}$ کے بیچ پائے جاتے ہیں۔

۸۳۹۱ ا. عمودی تراش دائری اقراص ہیں جن کے قطر xy مستوی میں ہیں (شکل ۶.۳۲-ا)۔

۸۳۹۲ ب. عمودی تراش چوکور ہیں جن کے قاعدے xy مستوی میں ہیں (شکل ۶.۶۰-ب)۔

۸۳۹۳ ج. عمودی تراش چوکور ہیں جن کے وتر xy مستوی میں ہیں۔

۸۳۹۴ د. عمودی تراش مساوی الاضلاع مثلث ہیں جن کے قاعدے xy مستوی میں ہیں۔

۸۳۹۵ ٹکیوں سے حجم کی تلاش

۸۳۹۶ سوال ۶.۶۱ تا سوال ۶.۷۰ میں دیے گئے ٹھوس اجسام کے حجم تلاش کریں۔

۸۳۹۷ سوال ۶.۶۱: ایک ٹھوس جسم $x = 0$ اور $x = 4$ پر x محور کے عمودی سطحوں کے بیچ پایا جاتا ہے۔ جسم کے عمودی تراش کی صورت چوکور ہے جو
۸۳۹۸ x محور کے عمودی ہیں اور جن کے وتر قطع مکافی $y = -\sqrt{x}$ سے قطع مکافی $y = \sqrt{x}$ تک ہیں۔

۸۳۹۹

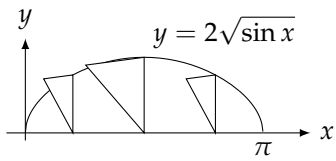

شکل ۶.۳۳: عمودی تراش (سوال ۶.۶۵)

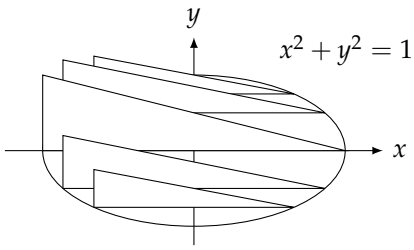

شکل ۶.۳۴: عمودی تراش (سوال ۶.۶۸)

سوال ۶.۶۲: ایک ٹھوس جسم $x = -1$ اور $x = 1$ پر x محور کے عمودی سطحوں کے بیچ پایا جاتا ہے۔ جسم کے عمودی تراش x محور کے عمودی ہیں جن کے قطر دائری اقراص ہیں جو قطع مکافی $y = x^2$ سے قطع مکافی $y = 2 - x^2$ تک ہیں۔

سوال ۶.۶۳: ایک ٹھوس جسم $x = -1$ اور $x = 1$ پر x محور کے عمودی سطحوں کے بیچ پایا جاتا ہے۔ جسم کے چوکور عمودی تراش x محور کے عمودی ہیں جن کے تلا کے کنارے نصف دائرہ $y = -\sqrt{1 - x^2}$ سے نصف دائرہ $y = \sqrt{1 - x^2}$ تک ہیں۔

سوال ۶.۶۴: ایک ٹھوس جسم $x = -1$ اور $x = 1$ پر x محور کے عمودی سطحوں کے بیچ پایا جاتا ہے۔ جسم کے چوکور عمودی تراش x محور کے عمودی ہیں جن کے وتر نصف دائرہ $y = -\sqrt{1 - x^2}$ سے نصف دائرہ $y = \sqrt{1 - x^2}$ تک ہیں۔ چوکور کے وتر کی لمبائی چوکور کے ضلع کے $\sqrt{2}$ گنّا ہوتی ہے۔

سوال ۶.۶۵: ایک ٹھوس جسم کا تلا منحنی $y = 2\sqrt{\sin x}$ اور x محور پر وقفہ $[0, \pi]$ کے بیچ پایا جاتا ہے۔ x محور کے عمودی عمودی تراش درج ذیل ہیں۔

ا. مساوی الاضلاع مثلث جن کے قاعدے x محور سے منحنی تک ہیں (شکل ۶.۳۳)۔

ب. انتصابی چوکور جن کے قاعدے x محور سے منحنی تک ہیں۔

سوال ۶.۶۶: ایک ٹھوس جسم $x = -\frac{\pi}{3}$ اور $x = \frac{\pi}{3}$ پر x محور کے عمودی سطحوں کے بیچ پایا جاتا ہے۔ جسم کے عمودی تراش x محور کے عمودی ہیں جن کی خواص درج ذیل ہیں۔

ا. دائری اقراص جن کے قطر $y = \tan x$ سے $y = \sec x$ تک ہیں۔

ب. انتصابی چوکور کن کے قاعدے $y = \tan x$ سے $y = \sec x$ تک ہیں۔

سوال ۶.۶۷: ایک ٹھوس جسم $y = 0$ اور $y = 2$ پر y محور کے عمودی سطحوں کے بیچ پایا جاتا ہے۔ جسم کے دائری عمودی تراش y محور کے عمودی ہیں جن کے قطر y محور سے قطع مکافی $x = \sqrt{5}y^2$ تک ہیں۔

سوال ۶.۶۸: ایک ٹھوس جسم کا تلا قرص $x^2 + y^2 \leq 1$ ہے۔ عمودی تراش $y = -1$ اور $y = 1$ کے بیچ y محور کے عمودی ہیں جو مساوی الساقین مثلث ہیں جن کا ایک ضلع قرص میں پایا جاتا ہے (شکل ۶.۳۴)۔

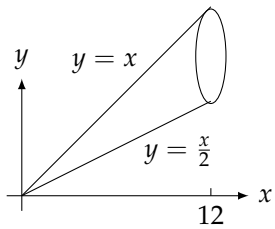

شکل ۶.۳۵: عمودی تراش (سوال ۶.۷۰)

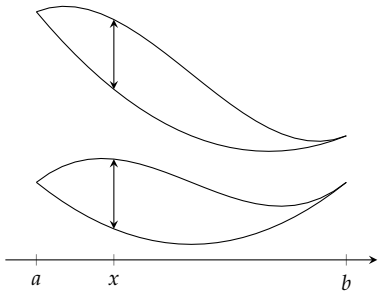

شکل ۶.۳۶: وقفہ $[a, b]$ پر کسی بھی x پر دونوں خطوں کی چوڑائی ایک دوسرے جتنی ہے (مسئلہ کوالیئرے)۔

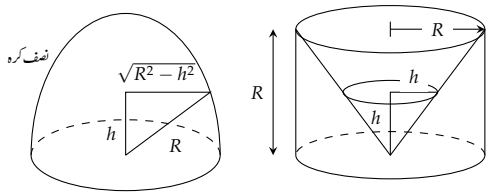

شکل ۶.۳۷: کرہ اور بیلن سے مخروط منفی کر کے ایک سا حجم ملتا ہے (سوال ۶.۷۲)۔

مسئلہ کوالیئرے

سوال ۶.۶۹: بلدار ٹھوس جسم

ایک چوکور جس کا ضلع s ہے لکیر L کے عمودی مستوی میں پایا جاتا ہے۔ چوکور کا ایک راس L پر پایا جاتا ہے۔ یہ چوکور L پر h فاصلہ طے کرتے ہوئے ایک چکر کاٹ کر پیچ نما جسم دیتا ہے جس کا رقبہ عمودی تراش چوکور ہو گا۔

ا. اس جسم کا حجم تلاش کریں۔

ب. اگر چوکور ایک کے بجائے دو بار چکر کاٹتا تب حجم کتنا ہوتا؟ اپنے جواب کی وجہ پیش کریں۔

سوال ۶.۷۰: ایک ٹھوس جسم $x = 01$ اور $x = 12$ پر x محور کے عمودی سطحوں کے بیچ پایا جاتا ہے۔ جسم کے عمودی تراش x محور کے عمودی ہیں جن کے قطر لکیر $y = \frac{x}{2}$ سے لکیر $y = x$ تک ہیں (شکل ۶.۳۵)۔ اس جسم کا حجم کیوں اس قائمہ مخروط جتنا ہو گا جس کا قد 12 اور جس کے تلا کا رداس 3 ہو؟

سوال ۶.۷۱: مسئلہ کوالیئرے کی ابتدائی صورت

کوالیئرے نے طالب علمی کے دوران دریافت کیا کہ اگر دو مستوی خطوں کو x محور کے یکساں وقفہ پر یوں رکھنا ممکن ہو کہ کسی بھی x پر دونوں خطوں کی چوڑائی ایک دوسرے جیسی ہو تب دونوں خطوں کا رقبہ ایک دوسرے جیسا ہو گا (شکل ۶.۳۶)۔ ٹھوس اجسام کے لئے یہی مسئلہ کوالیئرے نے کبھی ثابت نہیں کیا۔ اگر شکل ۶.۷۱ میں بالائی اور زیریں سرحدیں استمراری تفاعل ہوں تب اس مسئلے کو ثابت کریں۔

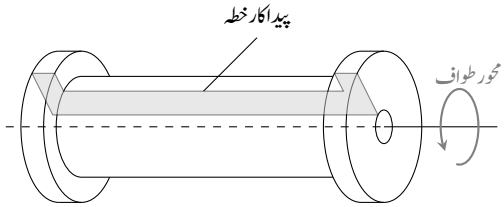

شکل ۶.۳۸: مستوی خطہ کو کسی محور کے گرد گھما کر جسم طواف پیدا کیا جاتا ہے۔

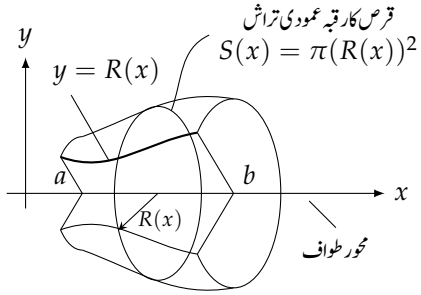

(ا) استمراری تفاعل $y = R(x)$ کو $x = a$ تا $x = b$ محور x کے گرد گھمایا گیا ہے۔

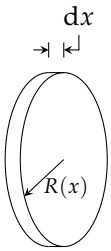

(ب) قرص کا حجم $\mathrm{d}H = \pi(R(x))^2$ ہے۔

شکل ۶.۳۹: جسم طواف کے حجم کا حصول بذریعہ ترکیب قرص۔

سوال ۶.۷۲: نصف کرہ کا حجم بذریعہ مسئلہ کوالیرے

نصف کرہ کا حجم $H = \frac{2}{3}\pi R^3$ ہے جہاں R رداس ہے۔ رداس R اور قد R کے قائمہ بیلن سے رداس R اور قد R کا قائمہ مخروط ہٹا کر نصف کرہ کا عمودی تراش حاصل ہوتا ہے۔ مخروط کو نوک کے بل رکھا تصور کریں (شکل ۶.۳۷)۔ اس حقیقت کو استعمال کرتے ہوئے نصف کرہ کا حجم تلاش کریں۔

۶.۳ اجسام طواف کے حجم۔ قرص اور چھلا

مستوی خطے کو کسی محور کے گرد گھمانے سے جسم **طواف**[۲] پیدا کیا جاتا ہے (شکل ۶.۳۸)۔ جسم طواف پیدا کرنے کے لئے گھمائے جانے والے مستوی خطے کو **پیدا کار خطہ**[۳] کہتے ہیں۔ جسم طواف کا حجم ٹکیوں کی ترکیب سے نہایت خوش اسلوبی سے حاصل ہوتا ہے۔

---

[۲] solidofrevolution
[۳] generatingregion

اگر ہم مستوی خطہ کو استراری تفاعل $y = R(x),\ a \le x \le b$ اور x کے بیچ خطہ سے ظاہر کر سکیں اور اگر x محور گھومنے کا محور (**محور طواف**[۴]) بھی ہو تب ٹھوس جسم کا حجم درج ذیل طریقہ سے حاصل کیا جا سکتا ہے (شکل ۶.۳۹)۔

محور طواف کے لحاظ سے عمودی تراش کا رداس $R(x)$ اور رقبہ درج ذیل ہو گا۔

$$S(x) = \pi(\text{رداس})^2 = \pi[R(x)]^2$$

جسم کا حجم، $x = a$ تا $x = b$، تفاعل S کا تکمل ہو گا۔

جسم طواف کا حجم (محور طواف x محور ہے)

استراری تفاعل $y = R(x),\ a \le x \le b$ کو x محور کے گرد گھمانے سے پیدا ٹھوس جسم کا حجم درج ذیل ہو گا۔

$$H = \int_a^b \pi[\text{رداس}]^2\,\mathrm{d}x = \int_a^b \pi[R(x)]^2\,\mathrm{d}x \tag{۱}$$

مثال ۶.۹: منحنی $y = \sqrt{x},\ 0 \le x \le 4$ کو x محور کے گرد گھمانے سے ٹھوس جسم پیدا ہوتا ہے۔ اس جسم کا حجم تلاش کریں۔

حل: ہم منحنی ترسیم کر کے ٹھوس جسم کا خاکہ بنا کر نمائندہ رداس بناتے ہیں (شکل ۶.۴۰)۔ حجم درج ذیل ہو گا۔

$$\begin{aligned} H &= \int_a^b \pi[R(x)]^2\,\mathrm{d}x && \text{مساوات ۱} \\ &= \int_0^4 \pi[\sqrt{x}]^2\,\mathrm{d}x && R(x) = \sqrt{x} \\ &= \pi\int_0^4 x\,\mathrm{d}x = \pi\frac{x^2}{2}\bigg|_0^4 = \pi\frac{(4)^2}{2} = 8\pi \end{aligned}$$

□

مساوات ۱ سے حجم حاصل کرنے کا طریقہ

ا. خطے کا خاکہ بنائیں اور رداس $R(x)$ کی نشاندہی کریں۔

ب. یوں رقبہ عمودی تراش $\pi[R(x)]^2$ ہو گا۔

ج. رقبہ عمودی تراش کا تکمل حجم ہو گا۔

اگلے مثال میں محور طواف x محور نہیں ہے، لیکن حجم حاصل کرنے کا اصول تبدیل نہیں ہوتا: تکمل کے موزوں حد استعمال کریں۔

---

[۴] axisofrevolution

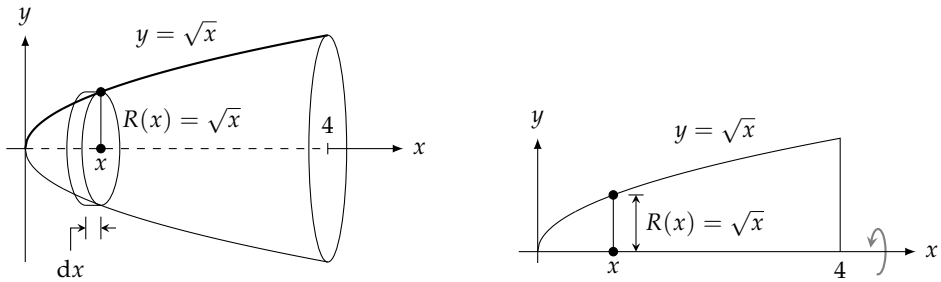

شکل ۶.۴۰: مستوی خطہ اور جسم طواف (مثال ۶.۹)

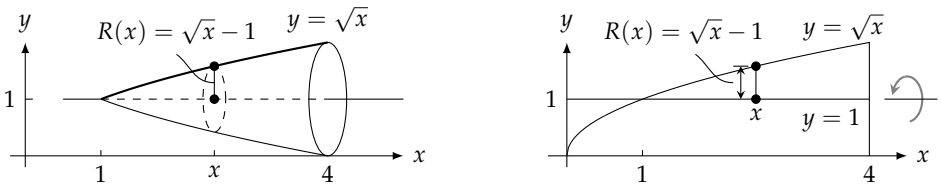

شکل ۶.۴۱: مستوی خطہ اور جسم طواف (مثال ۶.۱۰)

۸۵۵۷ مثال ۶.۱۰: تفاعل $y = \sqrt{x}$، لکیر $y = 1$ اور لکیر $x = 4$ کے بیچ خطہ کو لکیر $y = 1$ کے گرد گھما کر ٹھوس جسم پیدا کیا جاتا ہے۔ اس
۸۵۵۸ جسم کا حجم تلاش کریں۔

۸۵۵۹ حل: ہم خطہ اور نمائندہ رداس بنا کر ٹھوس جسم کا خاکہ بناتے ہیں (شکل ۶.۴۱)۔ جسم کا حجم درج ذیل ہو گا۔

$$
\begin{aligned}
H &= \int_1^4 \pi [R(x)]^2 \, \mathrm{d}x && \text{مساوات ۱} \\
&= \int_1^4 \pi [\sqrt{x} - 1]^2 \, \mathrm{d}x && R(x) = \sqrt{x} - 1 \\
&= \pi \int_1^4 [x - 2\sqrt{x} + 1] \, \mathrm{d}x \\
&= \pi \Big[\frac{x^2}{2} - 2 \cdot \frac{2}{3} x^{3/2} + x \Big]_1^4 = \frac{7\pi}{6}
\end{aligned}
$$

۸۵۶۰ □

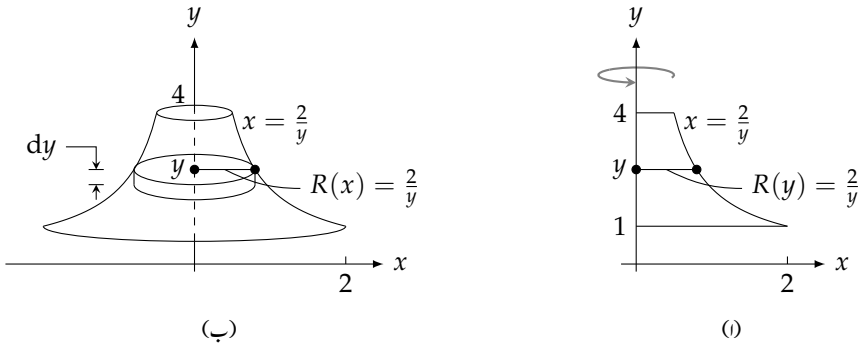

شکل ۶.۴۲: مستوی خطہ، جسم طواف اور قرص (مثال ۶.۱۱)

۸۵۶۱ منحنی $x = R(y),\ c \le y \le d$ کو y محور کے گرد گھما کر ٹھوس جسم پیدا ہوتا ہے جس کا حجم تلاش کرتے ہوئے مساوات ۱ میں x کی جگہ y
۸۵۶۲ لکھا جاتا ہے۔

۸۵۶۳ **جسم طواف کا حجم (محور طواف y محور ہے)**

۸۵۶۴ استمراری تفاعل $x = R(y),\ c \le y \le d$ کو y محور کے گرد گھمانے سے پیدا ٹھوس جسم کا حجم درج ذیل ہو گا۔

$$H = \int_c^d \pi[\text{رداس}]^2\,\mathrm{d}x = \int_c^d \pi[R(y)]^2\,\mathrm{d}y \tag{۲}$$

۸۵۶۵ مثال ۶.۱۱: منحنی $x = \frac{2}{y},\ 1 \le y \le 4$ کو y محور کے گرد گھما کر جسم طواف پیدا کیا جاتا ہے۔ اس جسم کا حجم دریافت کریں۔

۸۵۶۶ حل: ہم منحنی ترسیم کر کے ٹھوس جسم کا خاکہ بنا کر نمائندہ قرص اور رداس بناتے ہیں (شکل ۶.۴۲)۔ جسم کا حجم درج ذیل ہو گا۔

$$\begin{aligned} H &= \int_1^4 \pi[R(y)]^2\,\mathrm{d}y && \text{مساوات ۲} \\ &= \int_1^4 \pi\left(\frac{2}{y}\right)^2 \mathrm{d}y && R(y) = \frac{2}{y} \\ &= \pi\int_1^4 \frac{4}{y^2}\,\mathrm{d}y = 4\pi\left[-\frac{1}{y}\right]_1^4 = 4\pi\left[\frac{3}{4}\right] = 3\pi \end{aligned}$$

۸۵۶۷ □

۸۵۶۸ مثال ۶.۱۲: قطع مکافی $x = y^2 + 1$ اور لکیر $x = 3$ کے بیچ خطہ کو لکیر $x = 3$ کے گرد گھما کر جسم طواف پیدا کیا جاتا ہے۔ جسم کا حجم
۸۵۶۹ معلوم کریں۔

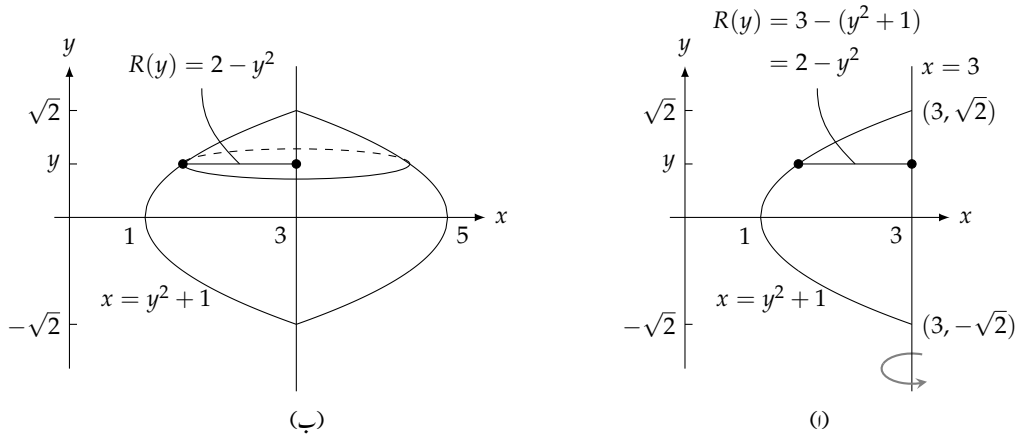

شکل ۶.۴۳: مستوی خطہ اور جسم طواف (مثال ۶.۱۲)

۸۵۷۰ حل: ہم منحنی اور لکیر کے بیچ خطے کا خاکہ بنا کر جسم طواف کا خاکہ بناتے ہیں اور عمودی تراش کی نمائندہ رداس کی نشاندہی کرتے ہیں (شکل ۶.۴۳)۔ جسم کا
۸۵۷۱ حجم درج ذیل ہو گا۔

$$
\begin{aligned}
H &= \int_{-\sqrt{2}}^{\sqrt{2}} \pi [R(y)]^2 \, \mathrm{d}y && \text{مساوات ۲} \\
&= \int_{-\sqrt{2}}^{\sqrt{2}} \pi [2 - y^2]^2 \, \mathrm{d}y && R(y) = 3 - (y^2 + 1) \\
&= \pi \int_{-\sqrt{2}}^{\sqrt{2}} [4 - 4y^2 + y^4] \, \mathrm{d}y \\
&= \pi \left[4y - \frac{4}{3} y^3 + \frac{y^5}{5} \right]_{-\sqrt{2}}^{\sqrt{2}} \\
&= \frac{64\pi\sqrt{2}}{15}
\end{aligned}
$$

۸۵۷۲ □

۸۵۷۳ ترکیب چھلا

۸۵۷۴ اگر گھمائے جانے والا خطہ محور طواف کو قطع نہ کرتا ہو اور نا ہی محور طواف کو مس کرتا ہو تب جسم طواف میں سوراخ پایا جائے گا (شکل ۶.۴۴)۔ ایسے جسم کا
۸۵۷۵ بیرونی رداس $R(x)$ اور اندرونی رداس $r(x)$ ہو گا۔ یوں اس کا رقبہ عمودی تراش درج ذیل ہو گا۔

$$S(x) = \pi[R(x)]^2 - \pi[r(x)]^2 = \pi([R(x)]^2 - [r(x)]^2)$$

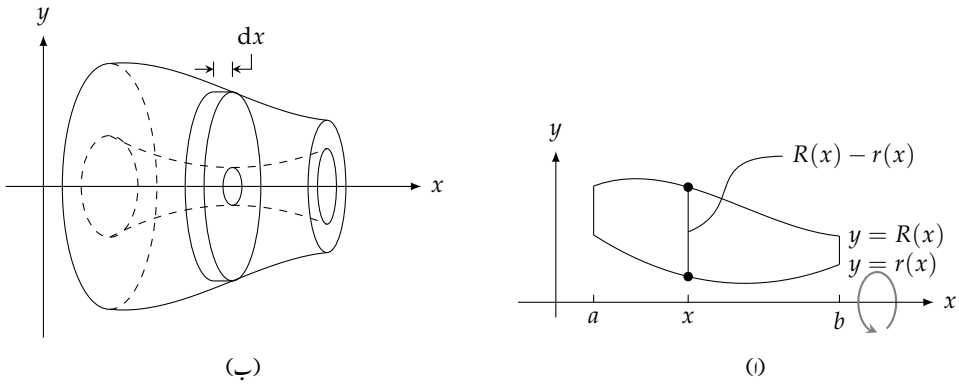

شکل ۶.۴۴: یہاں جسم طواف قرص کے بجائے چھلا نما ہے جس میں سوراخ پایا جاتا ہے لہٰذا تکمل $\int_a^b S(x)\,\mathrm{d}x$ ذرہ مختلف صورت اختیار کرتا ہے۔

۸۵۷۶ حجم تلاش کرنے کا کلیہ

۸۵۷۷

$$H = \int_a^b \pi([R(x)]^2 - [r(x)]^2)\,\mathrm{d}x \tag{۳}$$

۸۵۷۸ دھیان رہے کہ مساوات ۳ میں تفاعل $\pi(R^2 - r^2)$ کا تکمل لیا جاتا ہے نا کہ تفاعل $\pi(R-r)^2$ کا۔ اگر پورے وقفہ $[a, b]$ پر اندرونی رداس
۸۵۷۹ صفر ہو تب درج بالا سے مساوات احاصل ہوتی ہے۔ یوں ترکیب ٹکیا در حقیقت ترکیب چھلا کی مخصوص صورت ہے۔

۸۵۸۰ مثال ۶.۱۳: منحنی $y = x^2 + 1$ اور لکیر $y = -x + 3$ کے بیچ خطہ کو x محور کے گرد گھما کر جسم طواف پیدا کیا جاتا ہے۔ اس ٹھوس جسم
۸۵۸۱ کا حجم تلاش کریں۔

۸۵۸۲ حل: **پہلا قدم:** منحنی اور لکیر ترسیم کر کے خطے کا خاکہ بنا کر خطے پر محور طواف کے عمودی لکیر کھینچیں (شکل ۶.۴۵)۔

۸۵۸۳ **دوسرا قدم:** نقاط تقاطع سے تکمل کی حدیں تلاش کریں۔

$$\begin{aligned} x^2 + 1 &= -x + 3 \\ x^2 + x - 2 &= 0 \\ (x+2)(x-1) &= 0 \\ x = -2, \quad x &= 1 \end{aligned}$$

۸۵۸۴ **تیسرا قدم:** بیرونی اور اندرونی رداس کی نشاندہی کریں۔

$$R(x) = -x + 3 \qquad \text{بیرونی رداس}$$
$$r(x) = x^2 + 1 \qquad \text{اندرونی رداس}$$

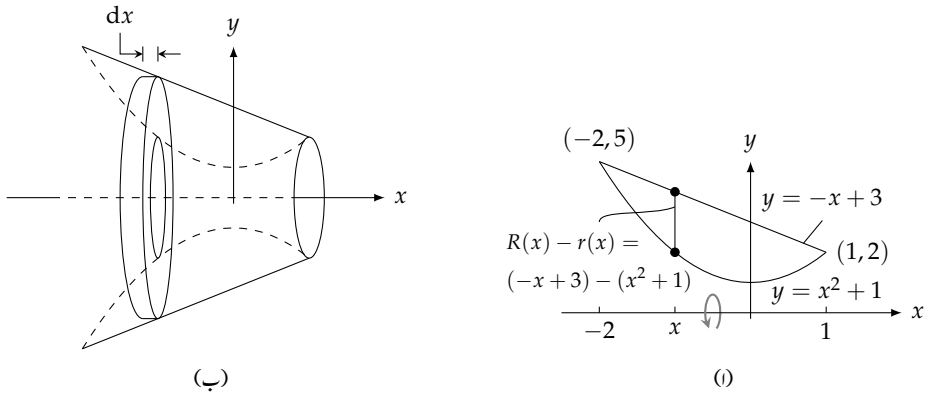

شکل ۶.۴۵: مستوی خطہ اور چھلا نما جسم طواف (مثال ۶.۱۳)

۸۵۸۵ **چوتھا قدم:** تکمل سے حجم حاصل کریں۔

$$
\begin{aligned}
H &= \int_a^b \pi([R(x)]^2 - [r(x)]^2)\,\mathrm{d}x \\
&= \int_{-1}^1 \pi([-x+3]^2 - [x^2+1]^2)\,\mathrm{d}x \\
&= \int_{-2}^1 \pi(8 - 6x - x^2 - x^4)\,\mathrm{d}x \\
&= \pi\left[8x - 3x^2 - \frac{x^3}{3} - \frac{x^5}{5}\right]_{-2}^1 = \frac{117\pi}{5}
\end{aligned}
$$

۸۵۸۶ □

۸۵۸۷ ترکیب چھلا سے حجم کی تلاش

۸۵۸۸

۸۵۸۹ ا. خطے کا خاکہ بنا کر اس پر محور طواف کے عمودی لکیری قطعہ کھینچیں۔ خطہ کو محور طواف کے گرد گھمانے سے یہ قطعہ نمائندہ عمودی تراش دے گا۔

۸۵۹۰ ب. تکمل کی حدیں دریافت کریں۔

۸۵۹۱ ج. عمودی تراش کا بیرونی اور اندرونی رداس کو لکیری قطعہ سے حاصل کریں۔

۸۵۹۲ د. تکمل کی ذریعہ حجم حاصل کریں۔

۸۵۹۳ اگر خطے کو y محور کے گرد گھما کر جسم طواف پیدا کیا جائے تب درج بالا اقدام استعمال کرتے ہوئے x کے بجائے y کے ساتھ تکمل لیں۔

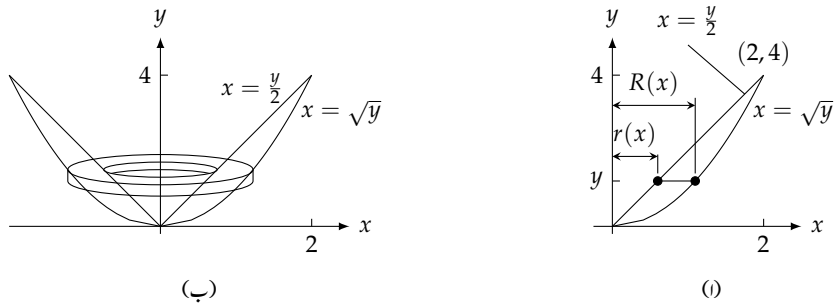

شکل ۶.۴۶: جسم طواف اور نمائندہ چھلا (مثال ۶.۱۴)

۸۵۹۳ مثال ۶.۱۴: ربع اول میں قطع مکافی $y = x^2$ اور لکیر $y = 2x$ کے بیچ خطے کو y محور کے گرد گھما کر جسم طواف پیدا کیا جاتا ہے۔ جسم کا حجم
۸۵۹۵ معلوم کریں۔

۸۵۹۶ حل: **پہلا قدم:** خطے کا خاکہ کھینچ کر خطہ پر محور طواف کے عمودی لکیری قطعہ بنائیں (شکل ۶.۴۶)۔ یہاں محور طواف y محور ہے۔

۸۵۹۷ **دوسرا قدم:** قطع مکافی اور لکیر ایک دوسرے کو $y = 0$ اور $y = 4$ پر قطع کرتے ہیں لہٰذا تکمل کی حدیں $c = 0$ اور $d = 4$ ہوں گی۔

۸۵۹۸ **تیسرا قدم:** رقبہ عمودی تراش کا بیرونی رداس $R(y) = \sqrt{y}$ اور اندرونی رداس $r(y) = \frac{y}{2}$ ہے۔

۸۵۹۹ **چوتھا قدم:** تکمل سے حجم حاصل کرتے ہیں۔

$$
\begin{aligned}
H &= \int_c^d \pi([R(y)]^2 - [r(y)]^2)\,\mathrm{d}y \\
&= \int_0^4 \pi\left([\sqrt{y}]^2 - [\tfrac{y}{2}]^2\right)\mathrm{d}y \\
&= \pi\int_0^4 \left(y - \frac{y^2}{4}\right)\mathrm{d}y = \pi\left[\frac{y^2}{2} - \frac{y^3}{12}\right]_0^4 = \frac{8\pi}{3}
\end{aligned}
$$

۸۶۰۰ □

۸۶۰۱ مثال ۶.۱۵: ربع اول میں قطع مکافی $y = x^2$، لکیر $y = 1$ اور y محور کے بیچ خطہ کو لکیر $x = \frac{3}{2}$ کے گرد گھما کر جسم طواف پیدا کیا جاتا
۸۶۰۲ ہے۔ اس ٹھوس جسم کا حجم دریافت کریں۔

۸۶۰۳ حل: **پہلا قدم:** خطے کے خاکہ پر محور طواف $x = \frac{3}{2}$ کے عمودی، لکیری قطعہ بنائیں (شکل ۶.۴۷)۔

۸۶۰۴ **دوسرا قدم:** تکمل کی حدیں $y = 0$ اور $y = 1$ ہیں۔

۸۶۰۵ **تیسرا قدم:** عمودی تراش کا بیرونی رداس $R(y) = \frac{3}{2}$ اور اندرونی رداس $r(y) = \frac{3}{2} - \sqrt{y}$ ہے۔

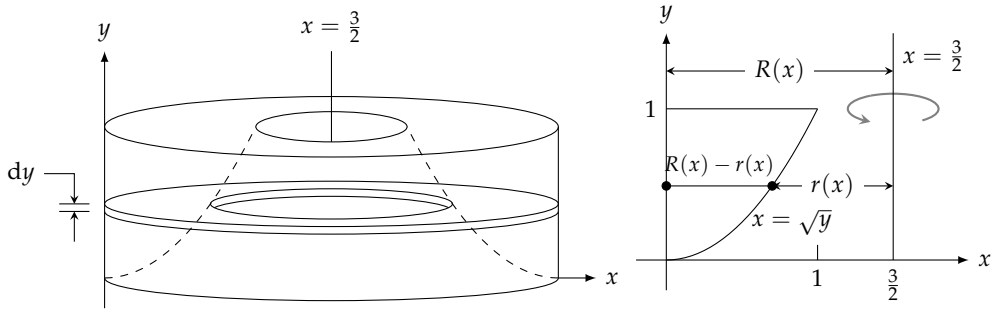

(ب) (ا)

شکل ۶.۴۷: جسم طواف اور نمائندہ چھلا (مثال ۶.۱۵)

۸۶۰۶ **چوتھا قدم:** تکمل سے حجم حاصل کرتے ہیں۔

$$\begin{aligned} H &= \int_c^d \pi([R(y)]^2 - [r(y)]^2)\,\mathrm{d}y \\ &= \int_0^1 \pi([\tfrac{3}{2}]^2 - [\tfrac{3}{2} - \sqrt{y}]^2)\,\mathrm{d}y \\ &= \pi \int_0^1 (3\sqrt{y} - y)\,\mathrm{d}y = \pi\left[2y^{3/2} - \tfrac{y^2}{2}\right]_0^1 = \frac{3\pi}{2} \end{aligned}$$

۸۶۰۷ □

۸۶۰۸ **سوالات**

۸۶۰۹ **حجم بذریعہ ترکیب ٹکیا**

۸۶۱۰ سوال ۶.۷۳ تا سوال ۶.۷۶ میں سایہ دار خطے کو دیے گئے محور کے گرد گھما کر جسم طواف پیدا کیا جاتا ہے۔ اس جسم کا حجم دریافت کریں۔

۸۶۱۱ سوال ۶.۷۳: سایہ دار خطہ شکل ۶.۴۸ میں دیا گیا ہے جہاں تفاعل $x + 2y = 2$ ہے۔

۸۶۱۲ سوال ۶.۷۴: سایہ دار خطہ شکل ۶.۴۹ میں دیا گیا ہے جہاں تفاعل $x = \frac{3y}{2}$ ہے۔

۸۶۱۳ سوال ۶.۷۵: سایہ دار خطہ شکل ۶.۵۰ میں دیا گیا ہے جہاں تفاعل $x = \tan(\frac{\pi y}{4})$ ہے۔

۸۶۱۴ سوال ۶.۷۶: سایہ دار خطہ شکل ۶.۵۱ میں دیا گیا ہے جہاں تفاعل $y = \sin x \cos x$ ہے۔

۸۶۱۵ سوال ۶.۷۷ تا سوال ۶.۸۲ میں منحنیات اور لکیروں کے بیچ خطے کو x محور کے گرد گھما کر جسم طواف پیدا کیا جاتا ہے۔ جسم کا حجم تلاش کریں۔

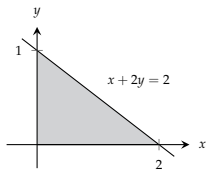

شکل ۶.۴۸

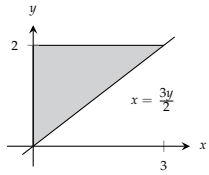

شکل ۶.۴۹

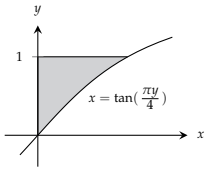

شکل ۶.۵۰

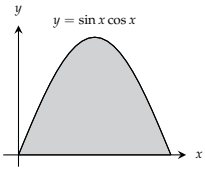

شکل ۶.۵۱

۸۲۱۶ سوال ۶.۷۷: $y = x^2, \quad y = 0, \quad x = 2$

۸۲۱۷ سوال ۶.۷۸: $y = x^3, \quad y = 0, \quad x = 2$

۸۲۱۸ سوال ۶.۷۹: $y = \sqrt{9 - x^2}, \quad y = 0$

۸۲۱۹ سوال ۶.۸۰: $y = x - x^2, \quad y = 0$

۸۲۲۰ سوال ۶.۸۱: $y = \sqrt{\cos x}, \quad 0 \le x \le \frac{\pi}{2}, \quad x = 0, \quad y = 0$

۸۲۲۱ سوال ۶.۸۲: $y = \sec x, \quad y = 0, \quad x = -\frac{\pi}{4}, \quad x = \frac{\pi}{4}$

۸۲۲۲ سوال ۶.۸۳ اور سوال ۶.۸۴ میں خطے کو دیے گئے محور کے گرد گھمایا جاتا ہے۔ حاصل جسم طواف کا حجم معلوم کریں۔

۸۲۲۳ سوال ۶.۸۳: ربع اول میں خطے کا بالائی سرحد لکیر $y = \sqrt{2}$، زیریں سرحد منحنی $y = \sec x \tan x$ اور بایاں سرحد محور y ہیں۔ خطے کو
۸۲۲۴ لکیر $y = \sqrt{2}$ کے گرد گھمایا جاتا ہے۔

۸۲۲۵ سوال ۶.۸۴: ربع اول میں خطے کا بالائی سرحد لکیر $y = 2$، زیریں سرحد منحنی $y = \sec x \tan x, \ 0 \le x \le \frac{\pi}{2}$ اور بایاں سرحد
۸۲۲۶ محور y ہیں۔ خطے کو لکیر $y = 2$ کے گرد گھمایا جاتا ہے۔

۸۲۲۷ سوال ۶.۸۵ تا سوال ۶.۹۰ میں منحنیات اور لکیروں کے بیچ خطے کو y محور کے گرد گھمایا جاتا ہے۔ جسم طواف کا حجم دریافت کریں۔

۸۲۲۸ سوال ۶.۸۵: $x = \sqrt{5}y^2, \quad x = 0, \quad y = -1, \quad y = 1$

۸۲۲۹ سوال ۶.۸۶: $x = y^{3/2}, \quad x = 0, \quad y = 2$

۸۲۳۰ سوال ۶.۸۷: $x = \sqrt{2\sin 2y}, \quad 0 \le y \le \frac{\pi}{2}, \quad x = 0$

۸۲۳۱ سوال ۶.۸۸: $x = \sqrt{\cos \frac{\pi y}{4}}, \quad -2 \le y \le 0, \quad x = 0$

۸۲۳۲ سوال ۶.۸۹: $x = \frac{2}{y+1}, \quad x = 0, \quad y = 0, \quad y = 3$

۸۲۳۳ سوال ۶.۹۰: $x = \frac{\sqrt{2y}}{y^2+1}, \quad x = 0, \quad y = 1$

۸۲۳۴ **حجم بذریعہ ترکیب چھلا**

۸۲۳۵ سوال ۶.۹۱ اور سوال ۶.۹۱ میں سایہ دار خطے کو دیے گئے محور کے گرد گھمایا جاتا ہے۔ جسم طواف کا حجم تلاش کریں۔

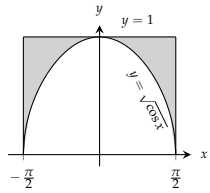

شکل ۶.۵۲

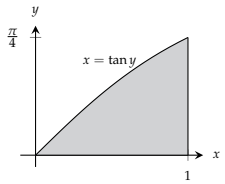

شکل ۶.۵۳

۸۶۳۶ سوال ۶.۹۱: خطہ شکل ۶.۵۲ میں دکھایا گیا ہے۔

۸۶۳۷ سوال ۶.۹۲: خطہ شکل ۶.۵۳ میں دکھایا گیا ہے۔

۸۶۳۸

۸۶۳۹ سوال ۶.۹۳ تا سوال ۶.۱۰۰ میں دیے منحنیات اور لکیروں کے بیچ خطے کو x محور گھما کر جسم طواف پیدا کیا جاتا ہے۔ جسم کا حجم تلاش کریں۔

۸۶۴۰ سوال ۶.۹۳: $y = x, \quad y = 1, \quad x = 0$

۸۶۴۱ سوال ۶.۹۴: $y = 2x, \quad y = x, \quad x = 1$

۸۶۴۲ سوال ۶.۹۵: $y = 2\sqrt{x}, \quad y = 2, \quad x = 0$

۸۶۴۳ سوال ۶.۹۶: $y = -\sqrt{x}, \quad y = -2, \quad x = 0$

۸۶۴۴ سوال ۶.۹۷: $y = x^2 + 1, \quad y = x + 3$

۸۶۴۵ سوال ۶.۹۸: $y = 4 - x^2, \quad y = 2 - x$

۸۶۴۶ سوال ۶.۹۹: $y = \sec x, \quad y = \sqrt{2}, \quad -\frac{\pi}{4} \le x \le \frac{\pi}{4}$

۸۶۴۷ سوال ۶.۱۰۰: $y = \sec x, \quad y = \tan x, \quad x = 0, \quad x = 1$

۸۶۴۸

۸۶۴۹ سوال ۶.۱۰۱ تا سوال ۶.۱۰۶ میں خطے کو y محور کے گرد گھمایا جاتا ہے۔ جسم طواف کا حجم معلوم کریں۔

۸۶۵۰ سوال ۶.۱۰۱: مثلث میں محیط خطہ جہاں مثلث کی راسیں $(1,0)$ ، $(2,1)$ اور $(1,1)$ ہیں۔

۸۶۵۱ سوال ۶.۱۰۲: مثلث جس کی راسیں $(0,1)$ ، $(1,0)$ اور $(1,1)$ ہیں میں محیط خطہ۔

۸۶۵۲ سوال ۶.۱۰۳: ربع اول میں خطہ جس کی بالائی سرحد قطع مکافی $y = x^2$ ، زیریں سرحد محور x اور دایاں سرحد لکیر $x = 2$ ہے۔

۸۶۵۳ سوال ۶.۱۰۴: خطہ کی بالائی سرحد منحنی $y = \sqrt{x}$ اور زیریں سرحد لکیر $y = x$ ہے۔

۸۶۵۴ سوال ۶.۱۰۵: ربع اول میں خطہ جس کا بایاں سرحد دائرہ $x^2 + y^2 = 3$ ، دایاں سرحد لکیر $x = \sqrt{3}$ اور بالائی سرحد لکیر $y = \sqrt{3}$
۸۶۵۵ ہے۔

۸۶۵۶ سوال ۶.۱۰۶: خطے کی بائیں سرحد لکیر $x = 4$ اور دائیں سرحد دائرہ $x^2 + y^2 = 25$ ہے۔

سوال ۶.۱۰۷ اور سوال ۶.۱۰۸ میں خطے کو دیے گئے محور کے گرد گھما کر جسم طواف پیدا کیا جاتا ہے۔ جسم کا حجم معلوم کریں۔

سوال ۶.۱۰۷: ربع اول میں خطہ جس کی بالائی سرحد منحنی $y = x^2$ ، زیریں سرحد محور x اور دایاں سرحد لکیر $x = 1$ ہیں۔ خطے کو لکیر $x = -1$ کے گرد گھمایا جاتا ہے۔

سوال ۶.۱۰۸: ربع دوم میں خطہ جس کی بالائی سرحد منحنی $y = -x^3$ ، زیریں سرحد محور x اور بایاں سرحد لکیر $x = -1$ ہے۔ خطے کو لکیر $x = -2$ کے گرد گھمایا جاتا ہے۔

جسم طواف کے حجم

سوال ۶.۱۰۹: ایک خطہ جس کی سرحدیں $y = \sqrt{x}$ ، $y = 2$ اور $x = 0$ ہیں کو درج ذیل کے گرد گھمایا جاتا ہے۔ ٹھوس جسم طواف کا حجم معلوم کریں۔

ا. محور x ؛

ب. محور y ؛

ج. لکیر $y = 2$ ؛

د. لکیر $x = 4$

سوال ۶.۱۱۰: ایک تکونی خطی جس کی سرحدیں $y = 2x$ ، $y = 0$ اور $x = 1$ ہیں کو درج ذیل کے گرد گھمایا جاتا ہے۔

ا. لکیر $x = 1$ ؛

ب. لکیر $x = 2$

سوال ۶.۱۱۱: ایک خطہ جس کی سرحدیں قطع مکافی $y = x^2$ اور $y = 1$ ہیں کو درج ذیل کے گرد گھمایا جاتا ہے۔

ا. لکیر $y = 1$ ؛

ب. لکیر $y = 2$ ؛

ج. لکیر $y = -1$

سوال ۶.۱۱۲: ایک مثلث جس کے راس $(0,0)$ ، $(b,0)$ اور $(0,h)$ ہیں میں محیط خطے کو درج ذیل کے گرد گھمایا جاتا ہے۔ جسم طواف کا حجم تکمل کی مدد سے حاصل کریں۔

ا. محور x ؛

ب. محور y

سوال ۶.۱۱۳: ایک برتن کو رداس 16 cm کے کرہ کا حصہ تصور کیا جا سکتا ہے۔ برتن کی گہرائی 9 cm ہے۔ برتن کا حجم تکمل کی مدد سے دریافت کریں (شکل ۶.۵۴)۔

سوال ۶.۱۱۴: منحنی $y = \frac{x}{12}\sqrt{36 - x^2},\ 0 \le x \le 6\text{ cm}$ کو x محور کے گرد گھما کر ناشپاتی نما پیتل کا گولہ بنایا جاتا ہے (شکل ۶.۵۵)۔ پیتل کی کثافت 8.5 g cm^{-3} لیں۔ گولے کی کمیت کتنی ہو گی؟

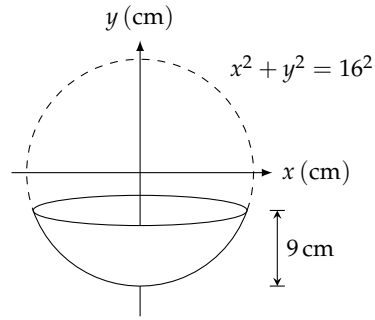

شکل ۶.۵۴: کروی برتن (سوال ۶.۱۱۳)

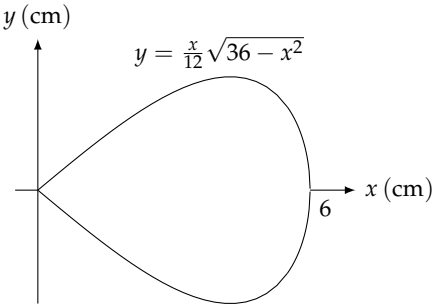

شکل ۶.۵۵: ناشپاتی نما گولہ (سوال ۶.۱۱۴)

سوال ۶.۱۱۵: منحنی $y = \sin x,\ 0 \le x \le \pi x$ کو لکیر $y = c$ کے گرد گھما کر جسم طواف پیدا کیا جاتا ہے جہاں $0 \le c \le 1$ ہے۔

ا. ٹھوس جسم کی کم سے کم حجم c کی کتنی قیمت پر حاصل ہو گی؟ اس کم سے کم حجم کو تلاش کریں۔

ب. وقفہ $[0, 1]$ میں c کی کونسی قیمت زیادہ سے زیادہ حجم دے گی؟

ج. ٹھوس جسم کا حجم بالمقابل c کو پہلے $0 \le c \le 1$ کے لئے اور بعد میں بڑی قیمتوں کے لئے ترسیم کریں۔ جیسے جیسے c کی قیمت وقفہ $[0, 1]$ سے دور ہوتی جاتی ہے، جسم کے حجم کو کیا ہوتا ہے؟ کیا اس کا طبعی مطلب بنتا ہے؟ اپنے جواب کی وجہ پیش کریں۔

سوال ۶.۱۱۶: ہیلی کاپٹر کی پہنچ بڑھانے کی خاطر اس کے نیچے تیل کا اضافی حوض نسب کرنا مطلوب ہے۔ منحنی $y = \frac{1}{3} - \frac{x^2}{3},\ -1 \le x \le 1$ کو x محور کے گرد گھما کر حوض بنایا جاتا ہے۔ اس حوض میں کتنے لٹر تیل آئے گا؟

سوال ۶.۱۱۷: اندرسہ کا حجم

دائری قرص $x^2 + y^2 \le a^2$ کو لکیر $y = b\ (b > a)$ کے گرد گھما کر **اندرسہ**[5] پیدا کیا جاتا ہے۔ اس کا حجم تلاش کریں۔ (اشارہ۔ $\int_{-a}^{a} \sqrt{a^2 - y^2}\,\mathrm{d}y = \frac{\pi a^2}{2}$ ہو گا چونکہ یہ رداس a کے نصف دائرے کا رقبہ ہے۔)

سوال ۶.۱۱۸: (ا) نصف کروی برتن جس کا رداس a ہے میں پانی کی گہرائی h ہے۔ پانی کی مقدار معلوم کریں۔ (ب) نصف کروی حوض جس کا رداس $5\,\mathrm{m}$ ہے میں پانی داخل ہونے کی شرح $0.2\,\mathrm{m}^3\,\mathrm{s}^{-1}$ ہے۔ جس لمحہ پانی کی گہرائی $4\,\mathrm{m}$ ہو، اس لمحہ گہرائی بڑھنے کی شرح کیا ہو گی؟

سوال ۶.۱۱۹: اس حصہ میں حجم کے تمام تعریف جیومیٹریائی تعریف کے عین مطابق ہیں۔

ا. نصف دائرہ $y = \sqrt{a^2 - x^2}$ کو x محور کے گرد گھما کر کرہ حاصل ہوتا ہے۔ قرص کے حجم کا کلیہ مساوات ا استعمال کرتے ہوئے کرہ کے حجم کا کلیہ $H = \frac{4}{3}\pi a^3$ حاصل کریں۔

ب. رداس r اور قد h کا قائمہ مخروط کا حجم احصاء کی مدد سے حاصل کریں۔

---

[5] torus

(ا) (ب)

شکل ۶.۵۶: نلکی جسم طواف

۶.۴ نلکی چھلے

اجسام طواف کا حجم تلاش کرتے ہوئے بعض اوقات چھلا کے بجائے نلکی خول استعمال کرنا زیادہ بہتر ثابت ہوتا ہے (شکل ۶.۵۶)۔

نلکی کلیہ

فرض کریں ہم x محور اور وقفہ $[a, b]$ پر تفاعل $y = f(x)$ کے بیچ خطے کو y محور کے گرد گھما کر جسم طواف حاصل کرتے ہیں۔ ہمیں جسم طواف کا حجم درکار ہے۔ ہم وقفہ $[a, b]$ کی خانہ بندی P پر منحصر مستطیلوں کو خطے کا تخمینی رقبہ لے سکتے ہیں۔ ایک نمائندہ مستطیل کی چوڑائی Δx_k اور قد $f(c_k)$ ہوگا، جہاں نمائندہ مستطیل کے قاعدے کا وسط c_k ہے (شکل ۶.۵۷)۔ ہم جیومیٹری سے جانتے ہیں کہ ایسے مستطیل کو y محور کے گرد گھمانے سے حاصل جسم طواف کا حجم

$$\Delta H_k = 2\pi \times \text{خول کا اوسط رداس} \times \text{خول کا قد} \times \text{موٹائی}$$

ہوگا جو موجودہ صورت میں درج ذیل ہوگا۔

$$\Delta H_k = 2\pi c_k f(c_k) \Delta x_k$$

ہم P پر منحصر n مستطیلوں کو y محور کے گرد گھمانے سے حاصل حجم کے مجموعہ کو تخمیناً جسم طواف کا حجم لیتے ہیں۔

$$H \approx \sum_{k=1}^{n} \Delta H_k = \sum_{k=1}^{n} 2\pi c_k f(c_k) \Delta x_k \qquad \text{ریمان مجموعہ}$$

$\|P\| \to 0$ کرتے ہوئے اس مجموعہ کا حد ٹھوس جسم کا حجم ہوگا:

$$H = \lim_{\|P\| \to 0} \sum_{k=1}^{n} 2\pi c_k f(c_k) \Delta x_k = \int_a^b 2\pi x f(x)\, \mathrm{d}x$$

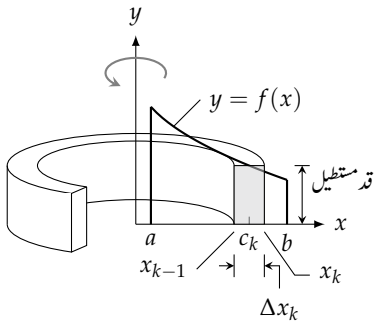

شکل ۶.۵۷: kویں مستطیل کو گھمانے سے حاصل نلکی خول۔

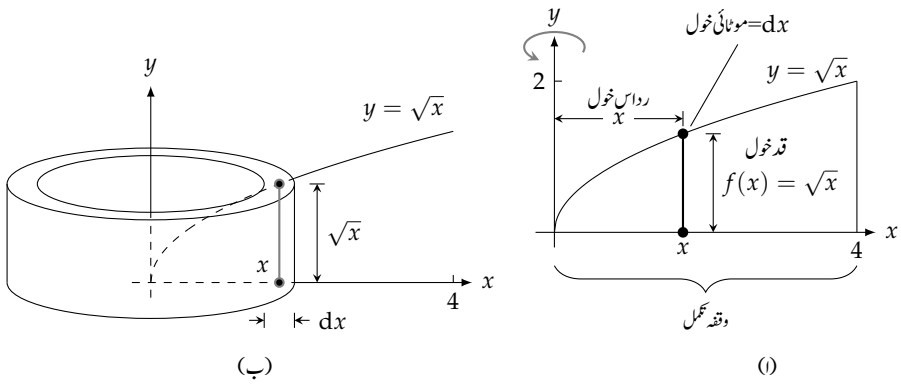

شکل ۶.۵۸: نلکی خول (مثال ۶.۱۶)

کلیہ خول برائے y محور کے گرد طواف

استمراری تفاعل $y = f(x),\ 0 \leq a \leq x \leq b$ اور محور x کے بیچ خطے کو y محور کے گرد گھمانے سے حاصل جسم طواف کا حجم درج ذیل ہو گا۔

$$H = \int_a^b 2\pi(\text{رداس خول})(\text{قد خول})\,\mathrm{d}x = \int_a^b 2\pi x f(x)\,\mathrm{d}x \qquad (ا)$$

مثال ۶.۱۶: لکیر $x = 4$ اور محور x کے بیچ منحنی $y = \sqrt{x}$ کے قطعہ کو y محور کے گرد گھما کر جسم طواف حاصل کیا جاتا ہے۔ اس جسم کا حجم تلاش کریں۔

حل: **پہلا قدم:** خطے کا خاکہ بنا کر محور گردش کے متوازی اس پر قطعہ دکھائیں۔ قطعہ کا قد (خول کا قد) اور محور گردش سے قطعہ کے فاصلہ (رداس

خول) کی نشاندہی کریں۔ قطعہ کی چوڑائی $\mathrm{d}x$ خول کی چوڑائی ہو گی۔ ہم نے شکل ۶.۵۸ میں خول دکھایا ہے۔ آپ کو ایسا کرنے کی ضرورت نہیں ہے۔

دوسرا قدم: تکمل کی حدیں معلوم کریں۔ خطہ میں x کی قیمت a تا b تبدیل ہوتی ہے لہٰذا تکمل کی حدیں a اور b ہوں گی۔

$$\begin{aligned} H &= \int_a^b 2\pi(\text{رداس خول})(\text{قد خول})\,\mathrm{d}x && \text{مساوات ۱} \\ &= \int_0^4 2\pi(x)(\sqrt{x})\,\mathrm{d}x && \text{جزو-۱ اور جزو-ب میں حاصل قیمتیں} \\ &= 2\pi\int_0^4 x^{3/2}\,\mathrm{d}x = 2\pi\left[\frac{2}{5}x^{5/2}\right]_0^4 = \frac{128\pi}{5} \end{aligned}$$

□

محور y کے گرد خطہ گھمانے سے حاصل جسم طواف کا حجم مساوات ۱ سے حاصل کیا جا سکتا ہے۔ اگر ہم خطے کو x محور کے گرد گھما کر جسم طواف حاصل کریں تب حجم تلاش کرنے کی خاطر مساوات ۱ میں x کی جگہ y استعمال کیا جائے گا۔

کلیہ خول برائے x محور کے گرد طواف

$$H = \int_c^d 2\pi(\text{رداس خول})(\text{قد خول})\,\mathrm{d}y = \int_c^d 2\pi y f(y)\,\mathrm{d}y \qquad (۲)$$

درج بالا مساوات میں $f(y) > 0$ اور $0 \le c \le y \le d$ ہیں۔

خول کا جیومیٹریائی حجم

ایک ٹھوس بیلن جس کا رداس R_2 اور قد h ہو کا حجم $\pi R_2^2 h$ ہو گا۔ اگر اس جسم سے رداس R_1 کا ٹھوس بیلن کاٹا جائے تب حاصل خول کا حجم $\pi R_2^2 h - \pi R_1^2 h$ ہو گا (شکل ۶.۵۹-ا) جس کو درج ذیل لکھا جا سکتا ہے

$$\begin{aligned} \text{حجم خول} &= \pi R_2^2 h - \pi R_1^2 h \\ &= \pi(R_2^2 - R_1^2)h \\ &= \pi(R_2 + R_1)(R_2 - R_1)h && R_2^2 - R_1^2 = (R_2 - R_1)(R_2 + R_1) \\ &= 2\pi\left(\tfrac{R_2+R_1}{2}\right)(R_2 - R_1)h && \text{2 سے ضرب اور تقسیم} \\ &= 2\pi(\text{رداس خول})(\text{موٹائی خول})(\text{قد خول}) \end{aligned}$$

جہاں خول کا اوسط رداس $\frac{R_2+R_1}{2}$ ہے، خول کی موٹائی $R_2 - R_1 r$ ہے اور خول کا قد h ہے۔

ایک خول جس کا اوسط رداس x، موٹائی $\mathrm{d}x$ اور قد $f(x)$ ہو کو شکل ۶.۵۹-ب میں کھول کر پٹی کی شکل دی گئی ہے۔ اس پٹی کا حجم درج ذیل ہو گا جو خول کے حجم کا کلیہ ہے (مساوات ۱ اور مساوات ۲ کو یاد رکھنے کا یہ بہترین طریقہ ہے)۔

$$H = 2\pi x f(x)\,\mathrm{d}x$$

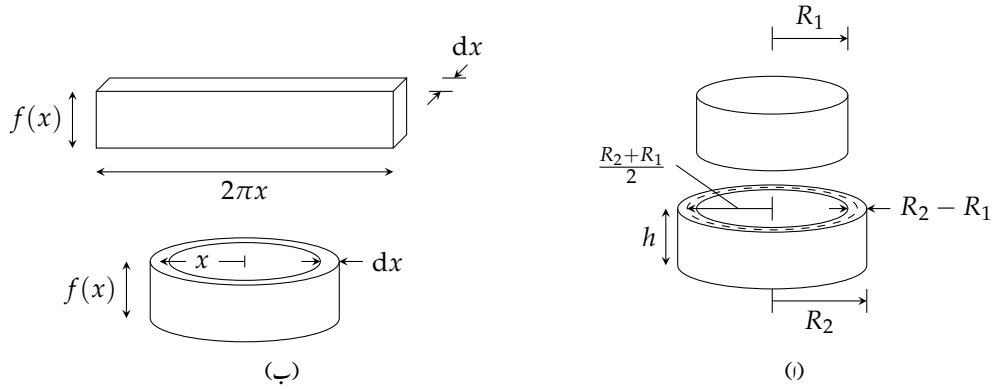

شکل ۶.۵۹: خول کا حجم۔

مثال ۶.۱۷: منحنی $y = \sqrt{x}$، لکیر $x = 4$ اور x محور کے بیچ خطے کو x محور کے گرد گھما کر جسم طواف حاصل کیا جاتا ہے۔ اس جسم کا حجم تلاش کریں۔

حل: **پہلا قدم:** خطے کا خاکہ بنائیں اور اس پر محور گردش کے متوازی قطعہ دکھائیں۔ قطعہ کی لمبائی (قد خول) اور محور طواف سے اس کا فاصلہ (رداس خول) کی نشاندہی کریں۔ قطعہ کی موٹائی، خول کی چوڑائی $\mathrm{d}y$ ہو گی۔ ہم نے شکل ۶.۶۰ میں y محور کے گرد بیلن دکھایا ہے۔ آپ کو ایسا بنانے کی ضرورت نہیں۔

دوسرا قدم: تکمل کی حدیں معلوم کریں۔ چونکہ خطہ میں y کی قیمت $c = 0$ تا $d = 2$ ہو سکتی ہے لہٰذا یہی اس کی حدیں ہیں۔

تیسرا قدم:

$$\begin{aligned}
H &= \int_c^d 2\pi()()\,\mathrm{d}y && \text{مساوات ۲} \\
&= \int_0^2 2\pi(y)(4-y^2)\,\mathrm{d}y && \text{جزو-ا اور جزو-ب میں حاصل قیمتیں} \\
&= 2\pi\left[2y^2 - \frac{y^4}{4}\right]_0^2 = 8\pi
\end{aligned}$$

یہ نتیجہ مثال ۶.۹ میں ترکیب قرص سے حاصل جواب کے عین مطابق ہے۔ □

ترکیب خول کا استعمال

محور طواف (افقی یا انتصابی) جیسا بھی ہو ترکیب خول کے اقدام درج ذیل ہوں گے۔

۱. خطے کا خاکہ بنا کر اس میں محور طواف کے متوازی قطعہ بنائیں۔ قطعہ کا قد یا لمبائی (قد خول)، محور طواف سے قطعہ کا فاصلہ (رداس خول) اور قطعہ کی موٹائی

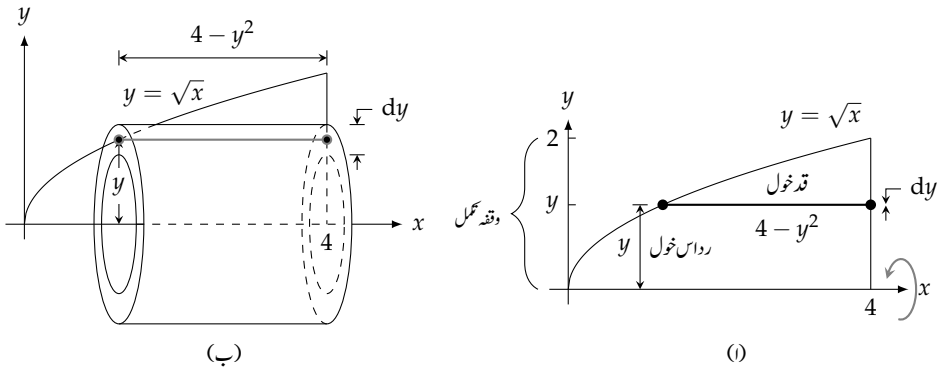

شکل ۶.۶۰: محور x کے گرد طواف (مثال ۶.۱۷)

۸۷۴۵ (چوڑائی خول) کی نشاندہی کریں۔

۸۷۴۶ ب. تکمل کی حدیں معلوم کریں

۸۷۴۷ ج. متکمل (2π)(رداس خول)(قدخول) کا موزوں متغیر (x یا y) کے ساتھ تکمل کی قیمت حاصل کرتے ہوئے حجم دریافت کریں۔

۸۷۴۸ اگلی مثال میں محور طواف افقی لکیر $x=2$ ہے۔

۸۷۴۹ مثال ۶.۱۸: ربع اول میں قطع مکافی $y=x^2$ ، لکیر $y=1$ اور y محور کے بیچ خطے کو محور طواف $x=2$ کے گرد گھما کر جسم طواف پیدا کیا
۸۷۵۰ جاتا ہے۔ اس جسم کا حجم تلاش کریں۔

۸۷۵۱ حل: **پہلا قدم:** خطے پر محور طواف کے متوازی قطعہ بنائیں۔ قطعہ کا قد (قدخول)، محور طواف سے قطعہ کا فاصلہ (رداس خول) اور قطعہ کی موٹائی
۸۷۵۲ (چوڑائی خول $\mathrm{d}x$) کی نشاندہی کریں (شکل ۶.۶۱)۔ ہم نے خول بھی بنایا ہے۔ آپ کو ایسا کرنے کی ضرورت نہیں ہے۔

۸۷۵۳ **دوسرا قدم:** تکمل کی حدیں $a=0$ اور $b=1$ ہیں۔

۸۷۵۴ **تیسرا قدم:**

$$
\begin{aligned}
H &= \int_a^b 2\pi(\text{رداس خول})(\text{قدخول})\,\mathrm{d}x && \text{مساوات ا} \\
&= \int_0^1 2\pi(2-x)(1-x^2)\,\mathrm{d}x && \text{جزو-اا اور جزو-ب میں حاصل قیمتیں} \\
&= 2\pi\int_0^1 (2-x-2x^2+x^3)\,\mathrm{d}x \\
&= \frac{13\pi}{6}
\end{aligned}
$$

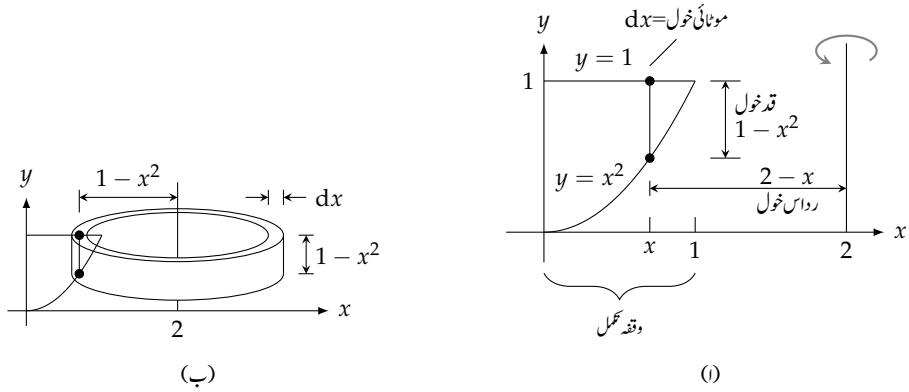

(ا) (ب)

شکل ۶.۶۱: خطہ اور خول (مثال ۶.۱۸)

۸۷۵۵ □

۸۷۵۶ تفاعل $y = x^2$ اور لکیر $y = x$ کے بیچ خطہ کو مثال بناتے ہوئے شکل ۶.۶۲ میں ترکیب چھلا اور ترکیب خول دونوں دکھائے گئے ہیں۔ شکل-۶.۶۲-ا
۸۷۵۷ اور ب میں y محور کے گرد خطہ گھمایا گیا ہے جبکہ شکل-ج اور د میں x محور کے گرد خطہ گھمایا گیا ہے۔ دونوں صورتوں میں حجم کو ترکیب چھلا اور ترکیب خول
۸۷۵۸ سے حل کیا گیا ہے۔ اس مخصوص خطے کے لئے دونوں محور طواف کے لئے دونوں ترا کیب کار آمد ہیں لیکن ایسا ہر صورت میں نہیں ہو گا۔ مثال کے طور پر y
۸۷۵۹ محور کے گرد گھماتے ہوئے ترکیب چھلا میں ہمیں y کے لحاظ سے تکمل حل کرنا ہو گا۔ البتہ عین ممکن ہے کہ متکمل کو y کی صورت میں لکھنا ممکن نہ ہو۔ ایسی
۸۷۶۰ صورت میں ہمیں ترکیب خول استعمال کرنی ہو گی جو ہمیں x کے لحاظ سے تکمل لینے کی اجازت دیگا۔

۸۷۶۱ ترکیب چھلا اور ترکیب خول سے ہر صورت ایک سے حجم حاصل ہوں گے۔ ہم حصہ ۷.۱ کے سوال ۷.۵۲ میں ان کی برابر کو ثابت کر پائیں گے۔

۸۷۶۲ سوالات

۸۷۶۳ سوال ۶.۱۲۰ تا سوال ۶.۱۲۵ میں خطے کو دکھائے گئے محور کے گرد گھمایا جاتا ہے۔ حاصل جسم طواف کا حجم ترکیب خول سے دریافت کریں۔

۸۷۶۴ سوال ۶.۱۲۰: خطہ شکل ۶.۶۳ میں دکھایا گیا ہے۔

۸۷۶۵ سوال ۶.۱۲۱: خطہ شکل ۶.۶۴ میں دکھایا گیا ہے۔

۸۷۶۶ سوال ۶.۱۲۲: خطہ شکل ۶.۶۵ میں دکھایا گیا ہے۔

۸۷۶۷ سوال ۶.۱۲۳: خطہ شکل ۶.۶۶ میں دکھایا گیا ہے۔

۸۷۶۸ سوال ۶.۱۲۴: خطہ شکل ۶.۶۷ میں دکھایا گیا ہے۔

۸۷۶۹ سوال ۶.۱۲۵: خطہ شکل ۶.۶۸ میں دکھایا گیا ہے۔

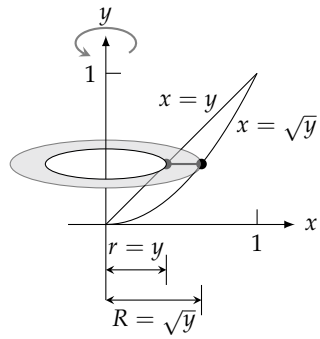

$$H = \int_{y=0}^{y=1} \pi[(\sqrt{y})^2 - (y)^2]\,\mathrm{d}y = \tfrac{\pi}{6}$$

(ا)

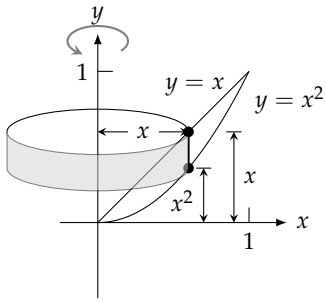

$$H = \int_{x=0}^{x=1} 2\pi(x)(x - x^2)\,\mathrm{d}x = \frac{\pi}{6}$$

(ب)

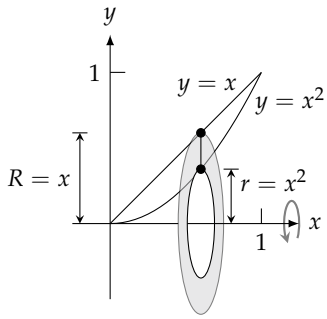

$$H = \int_{x=0}^{x=1} \pi[(x)^2 - (x^2)^2]\,\mathrm{d}x = \tfrac{2\pi}{15}$$

(ج)

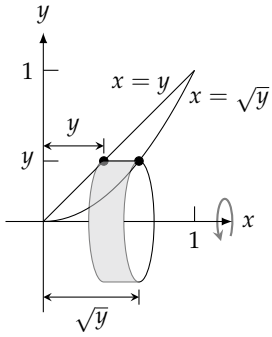

$$H = \int_{y=0}^{y=1} 2\pi(y)(\sqrt{y} - y)\,\mathrm{d}y = \tfrac{2\pi}{15}$$

(د)

شکل ۶.۶۲

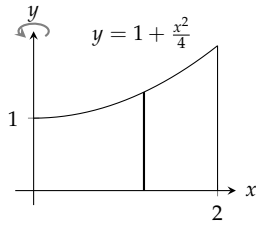

شکل ۶.۶۳

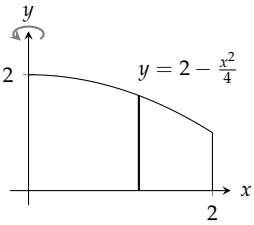

شکل ۶.۶۴

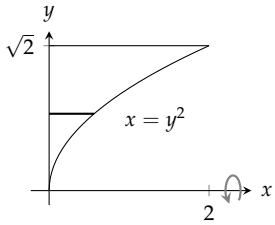

شکل ۶.۶۵

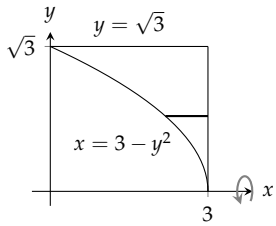

شکل ۶.۶۶

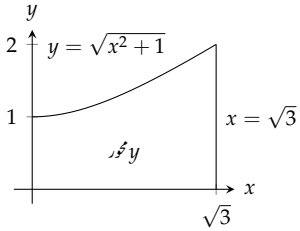

شکل ۶.۶۷

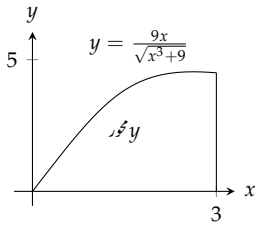

شکل ۶.۶۸

۸۷۷۰

۸۷۷۱ سوال ۶.۱۲۶ تا سوال ۶.۱۳۳ میں دیے منحنیات اور لکیروں میں محیط خطے کو y محور کے گرد گھما کر جسم طواف پیدا کیا جاتا ہے۔ اس جسم کا حجم ترکیب خول سے

۸۷۷۲ تلاش کریں۔

۸۷۷۳ سوال ۶.۱۲۶: $y = x, \quad y = -\frac{x}{2}, \quad x = 2$

۸۷۷۴ سوال ۶.۱۲۷: $y = 2x, \quad y = \frac{x}{2}, \quad x = 1$

۸۷۷۵ سوال ۶.۱۲۸: $y = x^2, \quad y = 2 - x, \quad x = 0, (x \geq 0)$

۸۷۷۶ سوال ۶.۱۲۹: $y = 2 - x^2, \quad y = x^2, \quad x = 0$

۸۷۷۷ سوال ۶.۱۳۰: $y = \sqrt{x}, \quad y = 0, \quad x = 4$

۸۷۷۸ سوال ۶.۱۳۱: $y = 2x - 1, \quad y = \sqrt{x}, \quad x = 0$

۸۷۷۹ سوال ۶.۱۳۲: $y = \frac{1}{x}, \quad y = 0, \quad x = \frac{1}{2}, \quad x = 2$

۸۷۸۰ سوال ۶.۱۳۳: $y = \frac{3}{2\sqrt{x}}, \quad y = 0, \quad x = 1, \quad x = 4$

۸۷۸۱ سوال ۶.۱۳۴ تا سوال ۶.۱۴۱ میں طواف جسم کا حجم ترکیب خول سے معلوم کریں۔ منحنیات اور لکیروں میں محیط رقبہ کو y محور کے گرد گھمایا گیا ہے۔

۸۷۸۲ سوال ۶.۱۳۴: $x = \sqrt{y}, \quad x = -y, \quad y = 2$

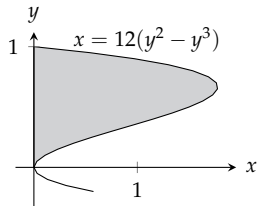

شکل ۶.۶۹

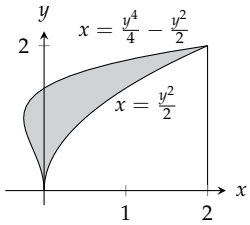

شکل ۶.۷۰

۸۷۸۳ سوال ۶.۱۳۵: $x = y^2, \quad x = -y, \quad y = 2$

۸۷۸۴ سوال ۶.۱۳۶: $x = 2y - y^2, \quad x = 0$

۸۷۸۵ سوال ۶.۱۳۷: $x = 2y - y^2, \quad x = y$

۸۷۸۶ سوال ۶.۱۳۸: $y = |x|, \quad y = 1$

۸۷۸۷ سوال ۶.۱۳۹: $y = x, \quad y = 2x, \quad y = 2$

۸۷۸۸ سوال ۶.۱۴۰: $y = \sqrt{x}, \quad y = 0, \quad y = x - 2$

۸۷۸۹ سوال ۶.۱۴۱: $y = \sqrt{x}, \quad y = 0, \quad y = 2 - x$

۸۷۹۰

۸۷۹۱ سوال ۶.۱۴۲ اور سوال ۶.۱۴۳ میں سایہ دار خطے کو دیے گئے محور کے گرد گھما کر جسم طواف پیدا کیا جاتا ہے۔ اس جسم کا حجم ترکیب خول سے معلوم کریں۔

۸۷۹۲ سوال ۶.۱۴۲: خطے کو شکل ۶.۶۹ میں دکھایا گیا ہے۔

۸۷۹۳ ا. محور x کے گرد،

۸۷۹۴ ب. محور طواف لکیر $y = 1$ ہے،

۸۷۹۵ ج. محور طواف لکیر $y = \frac{8}{5}$ ہے،

۸۷۹۶ د. لکیر $y = -\frac{2}{5}$ کے گرد گھمایا جاتا ہے۔

۸۷۹۷ سوال ۶.۱۴۳: خطے کو شکل ۶.۷۰ میں دکھایا گیا ہے۔

۸۷۹۸ ا. محور x کے گرد،

۸۷۹۹ ب. محور طواف لکیر $y = 2$ ہے،

۸۸۰۰ ج. محور طواف لکیر $y = 5$ ہے،

۸۸۰۱ د. لکیر $y = -\frac{5}{8}$ کے گرد گھمایا جاتا ہے۔

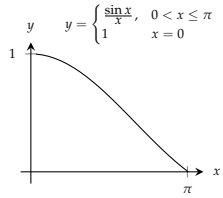

شکل ۶.۷۱

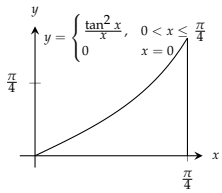

شکل ۶.۷۲

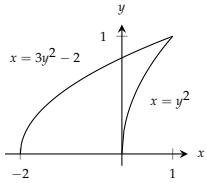

شکل ۶.۷۳

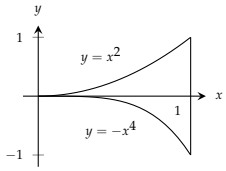

شکل ۶.۷۴

۸۸۰۲

۸۸۰۳ سوال ۶.۱۴۴ تا سوال ۶.۱۴۴ میں خطوں کو محور طواف کے گرد گھما کر حاصل جسم طواف کا حجم معلوم کریں۔ آپ ترکیب چھلا یا ترکیب خول استعمال کر سکتے
۸۸۰۴ ہیں۔

۸۸۰۵ سوال ۶.۱۴۴: تکون جس کے راس $(1,1)$ ، $(1,2)$ اور $(2,2)$ ہیں۔(ا) x محور کے گرد،(ب) y محور کے گرد،(ج) لکیر $x = \frac{10}{3}$
۸۸۰۶ کے گرد، اور (د) لکیر $y = 1$ کے گرد۔

۸۸۰۷ سوال ۶.۱۴۵: ربع اول میں منحنی $x = y - y^3$ اور y محور میں محیط خطہ کو (ا) محور x ، (ب) لکیر $y = 1$ کے گرد گھمایا جاتا ہے

۸۸۰۸ سوال ۶.۱۴۶: ربع اول میں $x = y - y^3$ ، $x = 1$ اور $y = 1$ میں محیط خطہ کو (ا) محور x ، (ب) محور y ، (ج) لکیر $x = 1$ ، اور
۸۸۰۹ (د) لکیر $y = 1$ کے گرد گھمایا جاتا ہے۔

۸۸۱۰ سوال ۶.۱۴۷: تکونی خطہ جس کے سرحد لکیر $2y = x + 4$ ، $y = x$ ، اور $x = 0$ ہیں کو (ا) محور x ، (ب) محور y ، (ج) لکیر $x = 4$ ، اور (د) لکیر $y = 8$ کے گرد گھمایا جاتا ہے۔
۸۸۱۱

۸۸۱۲ سوال ۶.۱۴۸: ربع اول میں $y = x^3$ ، $y = 4x$ کے بیچ خطہ کو (ا) محور x ، اور (ب) لکیر $y = 8$ کے گرد گھمایا جاتا ہے۔

۸۸۱۳ سوال ۶.۱۴۹: سرحد $y = \sqrt{x}$ اور $y = \frac{x^2}{8}$ میں محیط خطہ کو (ا) محور x اور (ب) محور y کے گرد گھمایا جاتا ہے۔

۸۸۱۴ سوال ۶.۱۵۰: سرحد $y = 2x - x^2$ اور $y = x$ میں محیط خطہ کو (ا) محور y اور (ب) لکیر $x = 1$ کے گرد گھمایا جاتا ہے۔

۸۸۱۵ سوال ۶.۱۵۱: منحنی $y = \sqrt{x}$ ، لکیر $y = 2$ اور $x = 0$ کے بیچ خطہ کو (ا) x محور، (ب) y محور، (ج) لکیر $x = 4$ ، (د) لکیر
۸۸۱۶ $y = 2$ کے گرد گھمایا جاتا ہے۔

۸۸۱۷ سوال ۶.۱۵۲: ربع اول میں بالائی جانب منحنی $y = x^{-1/4}$ ، بائیں جانب لکیر $x = \frac{1}{16}$ ، اور نیچے جانب لکیر $y = 1$ سے گھیرے گئے خطے
۸۸۱۸ کو x محور کے گرد گھما کو جسم طواف پیدا کیا جاتا ہے۔ اس جسم کا حجم (ا) ترکیب چھلا، (ب) ترکیب خول سے معلوم کریں۔

۸۸۱۹ سوال ۶.۱۵۳: ربع اول میں بالائی جانب منحنی $y = \sqrt{x}$ ، بائیں جانب لکیر $x = \frac{1}{4}$ ، اور نیچے جانب لکیر $y = 1$ سے گھیرے گئے خطے کو y
۸۸۲۰ محور کے گرد گھما کو جسم طواف پیدا کیا جاتا ہے۔ اس جسم کا حجم (ا) ترکیب چھلا، (ب) ترکیب خول سے معلوم کریں۔

سوال ۶.۱۵۴: درج ذیل تفاعل فرض کریں (شکل ۶.۷۱)۔

$$f(x) = \begin{cases} \frac{\sin x}{x}, & 0 < x \leq \pi \\ 1, & x = 0 \end{cases}$$

ا. دکھائیں کہ $xf(x) = \sin x,\ 0 \leq x \leq \pi$ ہوگا۔

ب. اس تفاعل کو y محور کے گرد گھمانے سے حاصل جسم طواف کا حجم تلاش کریں۔

سوال ۶.۱۵۵: درج ذیل تفاعل فرض کریں (شکل ۶.۷۲)۔

$$G(x) = \begin{cases} \frac{\tan^2 x}{x}, & 0 < x \leq \frac{\pi}{4} \\ 0, & x = 0 \end{cases}$$

ا. دکھائیں کہ $xf(x) = \tan x,\ 0 \leq x \leq \frac{\pi}{4}$ ہوگا۔

ب. اس تفاعل کو y محور کے گرد گھمانے سے حاصل جسم طواف کا حجم تلاش کریں۔

سوال ۶.۱۵۶: محور x کے گرد شکل ۶.۷۳ میں دکھایا گیا خطہ گھما کر جسم طواف پیدا کیا جاتا ہے۔ کس ترکیب (قرص، چھلا، خول) کو استعمال کرتے ہوئے جسم طواف کا حجم تلاش کیا جا سکتا ہے؟ ہر ترکیب میں کتنے تکمل حل کرنے ہوں گے؟ اپنے جواب کی وجہ پیش کریں۔

سوال ۶.۱۵۷: محور y کے گرد شکل ۶.۷۴ میں دکھایا گیا خطہ گھما کر جسم طواف پیدا کیا جاتا ہے۔ کس ترکیب (قرص، چھلا، خول) کو استعمال کرتے ہوئے جسم طواف کا حجم تلاش کیا جا سکتا ہے؟ ہر ترکیب میں کتنے تکمل حل کرنے ہوں گے؟ اپنے جواب کی وجہ پیش کریں۔

سوال ۶.۱۵۸: فرض کریں وقفہ $x \geq 0$ پر تفاعل $f(x)$ غیر منفی اور استمراری ہے۔ منحنی f، لکیر $x = b$ اور کارتیسی محدد کے بیچ خطہ کو y محور کے گرد گھما کر جسم طواف پیدا کیا جاتا ہے جہاں b کوئی مثبت عدد ہے۔ اس جسم طواف کا حجم $2\pi b^3$ ہے۔ تفاعل $f(x)$ دریافت کریں۔

۶.۵ مستوی منحنیات کی لمبائیاں

نقشہ پر سڑک کی لمبائی جاننے کی خاطر ہم فیتہ استعمال کرتے ہوئے نقشہ پر سڑک کی منحنی پر قریب قریب نقطوں کے مابین قطعات کو سیدھا تصور کرتے ہوئے ان کی لمبائیوں کا مجموعہ لیتے ہیں۔ اس طرح اندازاً لمبائی کی درستگی کی حد قطعات کی تعداد اور ناپنے کی درستگی پر منحصر ہو گی۔

احصاء کو استعمال کرتے ہوئے ہم نقطوں کو قریب سے قریب رکھ کر بہتر نتائج حاصل کرتے ہیں۔ ان نقطوں کو سیدھے قطعات سے جوڑ کر کثیر الاضلاع حاصل ہو گا۔ زیادہ سے زیادہ قطعات لینے سے کثیر الاضلاع کی لمبائی، اصل منحنی کی لمبائی کے زیادہ قریب ہو گی۔ کثیر الاضلاع کی لمبائی کی حد کو تکمل سے حاصل کیا جا سکتا ہے۔

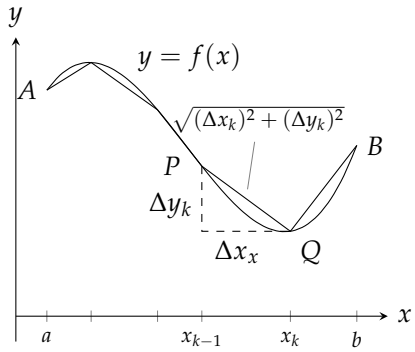

شکل ۶.۷۵: منحنی AB کے قطعہ PQ کی لمبائی $\sqrt{\Delta x^2 + \Delta y^2}$ ہو گی۔

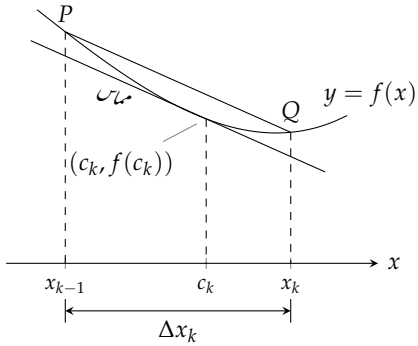

شکل ۶.۷۶: نقطہ $(c_k, f(c_k))$ پر مماس اور قطعہ متوازی ہیں۔

بنیادی کلیہ

فرض کریں ہم $x = a$ سے $x = b$ تک منحنی $y = f(x)$ کی لمبائی جاننا چاہتے ہیں۔ ہم $[a, b]$ کی خانہ بندی عام طریقہ سے کر کے منحنی پر مطابقتی نقطوں کو سیدھے قطعات سے جوڑ کر کثیر الاضلاع بناتے ہیں جو اصل منحنی کو تخمیناً ظاہر کرتا ہے (شکل ۶.۷۵)۔ اگر ہم کثیر الاضلاع کی لمبائی کا کلیہ تلاش کر سکیں ہم اسی کلیہ کو منحنی کی لمبائی کے لئے استعمال کر سکتے ہیں۔

قطعہ PQ کی لمبائی $\sqrt{(\Delta x_k)^2 + (\Delta y_k)^2}$ ہو گی (شکل ۶.۷۵)۔ یوں منحنی کی لمبائی تخمیناً درج ذیل مجموعہ ہو گا۔

$$\sum_{k=1}^{n} \sqrt{(\Delta x_k)^2 + (\Delta y_k)^2} \tag{1}$$

وقفہ $[a, b]$ کی خانہ بندی باریک کرنے سے حاصل مجموعہ تخمیناً زیادہ بہتر ہو گا۔ ہم دکھانا چاہیں گے کہ خانہ بندی کا معیار صفر تک پہنچانے سے مساوات ۱ کا مجموعہ قابل معلوم حد دیگا۔ ایسا کرنے کی خاطر ہم مساوات ۱ کو ایسی روپ میں لکھتے ہیں کہ اس پر مسئلہ ۵.۱ (صفحہ ۴۵۵) کا اطلاق ممکن ہو۔ ہم تفرق کے مسئلہ اوسط قیمت سے شروع کرتے ہیں۔

تعریف: ایسا تفاعل جس کا پہلا تفرق استمراری ہو **ہموار**[۶] کہلاتا ہے اور اس کی منحنی کو **ہموار منحنی**[۷] کہتے ہیں۔

□

اگر f ہموار ہو تب مسئلہ اوسط قیمت کے تحت P اور Q کے بیچ منحنی پر ایک ایسا نقطہ $(c_k, f(c_k))$ پایا جائے گا جہاں منحنی کا مماس قطعہ PQ کا متوازی ہو گا (شکل ۶.۷۶)۔ اس نقطہ پر درج ذیل ہو گا۔

$$f'(c_k) = \frac{\Delta y_k}{\Delta x_k}, \quad \Longrightarrow \Delta y_k = f'(c_k)\Delta x_k$$

---

[۶] smooth
[۷] smoothcurve

۸۸۵۳ مساوات ۱ میں Δy_k کی اس قیمت کو پر کرنے سے درج ذیل روپ ملتا ہے۔

$$\sum_{k=1}^{n} \sqrt{(\Delta x_k)^2 + (f'(c_k)\Delta x_k)^2} = \sum_{k=1}^{n} \sqrt{1 + (f'(c_k))^2}\Delta x_k \qquad \text{ریمان مجموعہ}$$

۸۸۵۴ چونکہ $[a, b]$ پر $\sqrt{1 + (f'(x))^2}$ استراری ہے لہٰذا خانہ بندی کا معیار صفر کے قریب تر کرنے سے دائیں ہاتھ مجموعے کا حد

۸۸۵۵ $\int_a^b \sqrt{a + (f'(x))^2}\,\mathrm{d}x$ ہوگا۔ منحنی کی لمبائی کی تعریف اس قطعی تکمل کی قیمت ہے۔

۸۸۵۶ تعریف: اگر $[a, b]$ پر f ہموار ہو تب a سے b تک منحنی $y = f(x)$ کی لمبائی درج ذیل ہوگی۔

$$L = \int_a^b \sqrt{1 + \left(\frac{\mathrm{d}y}{\mathrm{d}x}\right)^2}\,\mathrm{d}x = \int_a^b \sqrt{1 + (f'(x))^2}\,\mathrm{d}x \tag{۲}$$

۸۸۵۷ □

۸۸۵۸ مثال ۶.۱۹: درج ذیل منحنی کی لمبائی تلاش کریں۔

$$y = \frac{4\sqrt{2}}{3}x^{3/2} - 1, \quad 0 \le x \le 1$$

۸۸۵۹ حل: ہم $a = 0$ ، $b = 1$ اور

$$\begin{aligned} y &= \frac{4\sqrt{2}}{3}x^{3/2} - 1 \\ \frac{\mathrm{d}y}{\mathrm{d}x} &= \frac{4\sqrt{2}}{3} \cdot \frac{3}{2}x^{1/2} = 2\sqrt{2}x^{1/2} \\ \left(\frac{\mathrm{d}y}{\mathrm{d}x}\right)^2 &= \left(2\sqrt{2}x^{1/2}\right)^2 = 8x \end{aligned}$$

۸۸۶۰ لیتے ہوئے مساوات ۲ استعمال کرتے ہیں۔

$$\begin{aligned} L &= \int_0^1 \sqrt{1 + \left(\frac{\mathrm{d}y}{\mathrm{d}x}\right)^2} = \int_0^1 \sqrt{1 + 8x}\,\mathrm{d}x \\ &= \frac{2}{3} \cdot \frac{1}{8}(1 + 8x)^{3/2}\Big]_0^1 = \frac{13}{6} \end{aligned}$$

۸۸۶۱ □

۸۸۶۲ **تفرق $\frac{dy}{dx}$ میں عدم استمرار**

۸۸۶۳ کبھی کبھار منحنی پر $\frac{dy}{dx}$ غیر موجود لیکن $\frac{dx}{dy}$ موجود ہو گا اور ہم x کو y کا تفاعل لکھ کر منحنی کی لمبائی مساوات ۲ کی درج ذیل مشابہ سے حاصل کر پاتے
۸۸۶۴ ہیں۔

۸۸۶۵ **منحنی $x = g(y),\ c \le y \le d$ کی لمبائی کا کلیہ:**

$$L = \int_c^d \sqrt{1 + \left(\frac{dx}{dy}\right)^2}\, dy = \int_c^d \sqrt{1 + (g'(y))^2}\, dy \tag{۳}$$

۸۸۶۶ مثال ۶.۲۰: منحنی $y = (\frac{x}{2})^{2/3}$ کی لمبائی $x = 0$ تا $x = 2$ معلوم کریں۔

۸۸۶۷ حل: منحنی کا تفرق

$$\frac{dy}{dx} = \frac{2}{3}\left(\frac{x}{2}\right)^{-1/3}\left(\frac{1}{2}\right) = \frac{1}{3}\left(\frac{2}{x}\right)^{1/3}$$

۸۸۶۸ نقطہ $x = 0$ پر غیر معین یعنی غیر موجود ہے لہٰذا منحنی کی لمبائی حاصل کرنے کے لئے مساوات ۲ ناقابل استعمال ہے۔

۸۸۶۹ ہمیں x کو y کی صورت میں لکھنا ہو گا (شکل ۶.۷۷):

$$\begin{aligned} y &= \left(\frac{x}{2}\right)^{2/3} \\ y^{3/2} &= \frac{x}{2} \\ x &= 2y^{3/2} \end{aligned}$$

۸۸۷۰ یوں ہم دیکھتے ہیں کہ درکار منحنی کو تفاعل $x = 2y^{3/2}$ سے بھی ظاہر کیا جا سکتا ہے جہاں منحنی کے سر $y = 0$ اور $y = 1$ پر ہوں گے۔

۸۸۷۱ اس کا تفرق

$$\frac{dx}{dy} = 2\left(\frac{3}{2}\right)y^{1/2} = 3y^{1/2}$$

۸۸۷۲ وقفہ $[0, 1]$ پر استمراری ہے لہٰذا منحنی کی لمبائی کی خاطر مساوات ۳ قابل استعمال کیا جا سکتا ہے۔

$$\begin{aligned} L &= \int_c^d \sqrt{1 + \left(\frac{dx}{dy}\right)^2}\, dy = \int_0^1 \sqrt{1 + 9y}\, dy \\ &= \frac{1}{9} \cdot \frac{2}{3}(1 + 9y)^{3/2}\Big]_0^1 \\ &= \frac{2}{27}(10\sqrt{10} - 1) \approx 2.27 \end{aligned}$$

۸۸۷۳ □

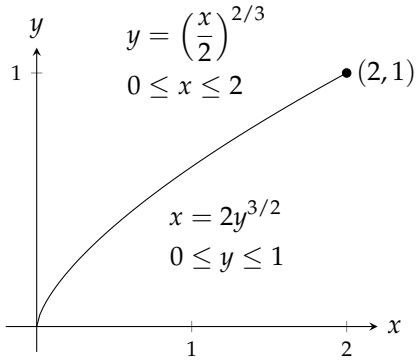

شکل ۶.۷۷: منحنی برائے مثال ۶.۲۰

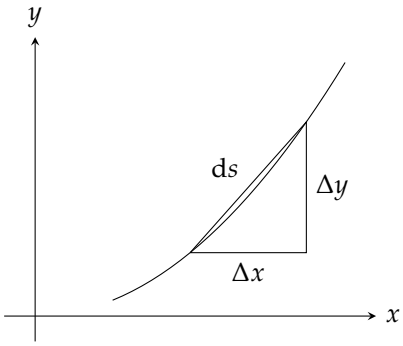

شکل ۶.۷۸: تعلق $\mathrm{d}s = \sqrt{\mathrm{d}x^2 + \mathrm{d}y^2}$ کا حصول۔

۸۸۷۴ **مختصر تفریقی کلیہ**

۸۸۷۵ لمبائی معلوم کرنے کی مساوات

$$L = \int_a^b \sqrt{1 + \left(\frac{\mathrm{d}y}{\mathrm{d}x}\right)^2}\,\mathrm{d}x, \quad L = \int_c^d \sqrt{1 + \left(\frac{\mathrm{d}x}{\mathrm{d}y}\right)^2}\,\mathrm{d}y \tag{۴}$$

۸۸۷۶ کو عموماً تفرقی روپ کے بجائے تفریقی روپ میں لکھا جاتا ہے۔ ایسا باضابطہ طور پر کرنے کے لئے تفرق کو تفریقوں کا حاصل تقسیم تصور کریں۔ یوں پہلے تکمل
۸۸۷۷ میں درج ذیل لکھا جا سکتا ہے۔

$$\sqrt{1 + \left(\frac{\mathrm{d}y}{\mathrm{d}x}\right)^2}\,\mathrm{d}x = \sqrt{1 + \frac{\mathrm{d}y^2}{\mathrm{d}x^2}}\,\mathrm{d}x = \sqrt{\mathrm{d}x^2 + \frac{\mathrm{d}y^2}{\mathrm{d}x^2}\,\mathrm{d}x^2} = \sqrt{\mathrm{d}x^2 + \mathrm{d}y^2}$$

۸۸۷۸ دوسرے تکمل میں درج ذیل لکھا جا سکتا ہے۔

$$\sqrt{1 + \left(\frac{\mathrm{d}x}{\mathrm{d}y}\right)^2}\,\mathrm{d}y = \sqrt{1 + \frac{\mathrm{d}x^2}{\mathrm{d}y^2}}\,\mathrm{d}y = \sqrt{\mathrm{d}y^2 + \frac{\mathrm{d}x^2}{\mathrm{d}y^2}\,\mathrm{d}y^2} = \sqrt{\mathrm{d}x^2 + \mathrm{d}y^2}$$

۸۸۷۹ اس طرح مساوات ۴ میں دیے دونوں تکمل درج ذیل ایک تفریقی کلیہ کی صورت اختیار کرتے ہیں۔

$$L = \sqrt{\mathrm{d}x^2 + \mathrm{d}y^2} \tag{۵}$$

۸۸۸۰ ظاہر ہے کہ $\mathrm{d}x$ اور $\mathrm{d}y$ کو ایک سا متغیر کی صورت میں لکھنا ضروری ہے اور مساوات ۵ میں دیا تکمل حل کرنے کے لئے تکمل کے موزوں حد بھی جاننا
۸۸۸۱ ضروری ہیں۔



(ا) منحنی C_1 (ب) منحنی C_2 (ج) منحنی C_3

شکل ۶.۷۹: برف کی روئی۔

۸۸۸۲ ہم مساوات ۵ کو مزید چھوٹا کر سکتے ہیں۔ $\mathrm{d}x^2$ اور $\mathrm{d}y^2$ کو ایک چھوٹے مثلث کے اضلاع تصور کریں۔ مسئلہ فیثا غورث سے اس مثلث کا وتر
۸۸۸۳ $\mathrm{ds} = \sqrt{\mathrm{d}x^2 + \mathrm{d}y^2}$ ہوگا (شکل ۶.۷۸)۔ تفریق ds کو اب قوس کی تفریقی لمبائی تصور کیا جا سکتا ہے جس کا موزوں حدود کے بیچ تکمل
۸۸۸۴ لے کر قوس کی لمبائی دریافت کی جا سکتی ہے۔ مساوات ۵ میں $\sqrt{\mathrm{d}x^2 + \mathrm{d}y^2}$ کو ds لکھنے سے مساوات کو ds کا تکمل لکھا جا سکتا ہے۔

۸۸۸۵ تعریف: تفریقی لمبائی قوس اور لمبائی قوس کا تفریقی کلیہ درج ذیل ہیں۔

$$\mathrm{ds} = \sqrt{\mathrm{d}x^2 + \mathrm{d}y^2} \qquad \text{تفریقی لمبائی قوس}$$

$$L = \int \mathrm{ds} \qquad \text{لمبائی قوس کا تفریقی کلیہ}$$

۸۸۸۶ □

۸۸۸۷ لامتناہی لمبائی کی قوسین

۸۸۸۸ برف کی روئی پر صفحہ ۲۵۳ پر غور کیا گیا۔ لامتناہی تکونی کثیر الاضلاع کی ترتیب $C_1, C_2, \cdots, C_n, \cdots$ کی تحدیدی صورت کو برف کی روئی K
۸۸۸۹ کہتے ہیں۔ شکل ۶.۷۹ میں اس ترتیب کی پہلی تین صورتیں دکھائی گئی ہیں۔ بناوٹ کے دوران ہر نیا متعارف کردہ راس بعد کے تمام منحنیات میں بطور راس پایا
۸۸۹۰ جاتا ہے اور تحدیدی منحنی K میں بطور نقطہ نظر آتا ہے۔ یوں ہر منحنی C از خود منحنی K کی تخمینی صورت ہو گی۔ یوں K کی لمبائی منحنیات C_n کی
۸۸۹۱ تحدیدی لمبائی کے برابر ہو گی۔ ہموار منحنیات کی لمبائی کی تعریف کے تحت کم از کم ایسا ہی ہونا چاہیے۔

۸۸۹۲ آئیں C_n کی تحدیدی لمبائی تلاش کریں۔ اگر ابتدائی مثلث الاضلاع کے ضلع کی لمبائی 1 ہو تب C_1 کی کل لمبائی 3 ہو گی۔ C_1 سے C_2
۸۸۹۳ حاصل کرتے ہوئے ہم C_1 کے ہر ضلع کی جگہ چار اضلاع بناتے ہیں جہاں ہر ضلع ابتدائی ضلع کا $\frac{1}{3}$ واں حصہ ہے۔ یوں C_2 کی کل لمبائی
۸۸۹۴ $3 \times 4 \times \frac{1}{3} = 3(\frac{4}{3})$ ہو گی۔ اسی طرح C_3 کی لمبائی حاصل کرنے کی خاطر ہمیں C_2 کی لمبائی کو $\frac{4}{3}$ سے ضرب دینا ہو گا۔ یہی عمل
۸۸۹۵ دہراتے ہوئے C_n کی کل لمبائی $3(\frac{4}{3})^{n-1}$ حاصل ہوتی ہے۔ ان نتائج کو یہاں پیش کرتے ہیں۔

شمار منحنی	1	2	3	$\cdots$	n	$\cdots$
کل لمبائی	3	$3(\frac{4}{3})$	$3(\frac{4}{3})^2$	$\cdots$	$3(\frac{4}{3})^{n-1}$	$\cdots$

منحنی C_{10} کی لمبائی تقریباً 40 ہے جبکہ C_{100} کی لمبائی 7 000 000 000 000 سے زیادہ ہے۔ لمبائی اتنی تیزی سے بڑھتی ہے کہ اس کی تحدیدی قیمت متناہی نہیں ہو سکتی ہے۔ یوں برف کی روئی کی لمبائی نہیں پائی جاتی ہے، یعنی، اس کی لمبائی لا متناہی ہے۔

لمبائی کی تعریف ہموار منحنیات کے لئے پیش کی گئی تھی جن کا ہر نقطہ پر مماس استمراری مڑتا ہے۔ برف کی روئی اتنی ناہموار ہے کہ لمبائی کا کلیے کا اس پر اطلاق کرنا ممکن نہیں ہے۔

بنوا منڈلبرا کا نظریہ **گنج غیر ہموار منحنیات**[8] ایسے متعدد منحنیات پیش کرتا ہے جن کی لمبائی لا متناہی ہے۔ ایسی منحنیات کو بڑا کر کے دیکھنے سے یہ اتنی ہی غیر ہموار نظر آتی ہیں جتنی بغیر بڑا کئے نظر آتی ہیں۔ سمندر کے ساحل کی طرح، ان منحنیات کو بڑا کر کے ہموار نہیں بنایا جا سکتا ہے۔

سوالات

لمبائی قوس کے تکمل کا حصول

سوال ۶.۱۵۹ تا سوال ۶.۱۶۶ میں

ا. لمبائی قوس کا تکمل لکھیں۔

ب. منحنی ترسیم کر کے دیکھیں کیسی لگتی ہے۔

ج. کمپیوٹر کی مدد سے تکمل کو اعدادی طریقہ سے حل کریں۔

سوال ۶.۱۵۹: $y = x^2, \quad -1 \le x \le 2$

سوال ۶.۱۶۰: $y = \tan x, \quad -\frac{\pi}{3} \le x \le 0$

سوال ۶.۱۶۱: $x = \sin y, \quad 0 \le y \le \pi$

سوال ۶.۱۶۲: $x = \sqrt{1-y^2}, \quad -\frac{1}{2} \le y \le \frac{1}{2}$

سوال ۶.۱۶۳: $y^2 + 2y = 2x + 1$ نقطہ $(-1,-1)$ سے $(7,3)$ تک۔

سوال ۶.۱۶۴: $y = \sin x - x\cos x, \quad 0 \le x \le \pi$

سوال ۶.۱۶۵: $y = \int_0^x \tan t \, dt, \quad 0 \le x \le \frac{\pi}{6}$

سوال ۶.۱۶۶: $x = \int_0^y \sqrt{\sec^2 t - 1} \, dt, \quad -\frac{\pi}{3} \le y \le \frac{\pi}{4}$

لمبائی قوس کا حصول

سوال ۶.۱۶۷ تا سوال ۶.۱۷۶ میں قوس کی لمبائی تلاش کریں۔ بہتر ہو گا کہ منحنیات کو ترسیم کر کے دیکھیں۔

سوال ۶.۱۶۷: $y = \frac{1}{3}(x^2+2)^{3/2}$ ، $x = 0$ سے $x = 3$ تک

سوال ۶.۱۶۸: $y = x^{3/2}$ ، $x = 0$ سے $x = 4$ تک

[8] fractals

سوال ۶.۱۶۹: $y = 1$ سے $y = 3$ تک، $x = \frac{y^3}{3} + \frac{1}{4y}$ (اشارہ۔ $1 + (\frac{dx}{dy})^2$ مکمل مربع ہے۔)

سوال ۶.۱۷۰: $y = 1$ سے $y = 9$ تک، $x = \frac{y^{3/2}}{3} - y^{1/2}$ (اشارہ۔ $1 + (\frac{dx}{dy})^2$ مکمل مربع ہے۔)

سوال ۶.۱۷۱: $y = 1$ سے $y = 2$ تک، $x = \frac{y^4}{4} + \frac{1}{8y^2}$ (اشارہ۔ $1 + (\frac{dx}{dy})^2$ مکمل مربع ہے۔)

سوال ۶.۱۷۲: $y = 2$ سے $y = 3$ تک، $x = \frac{y^3}{6} + \frac{1}{2y}$ (اشارہ۔ $1 + (\frac{dx}{dy})^2$ مکمل مربع ہے۔)

سوال ۶.۱۷۳: $y = \frac{3}{4}x^{4/3} - \frac{3}{8}x^{2/3} + 5, \quad 1 \le x \le 8$

سوال ۶.۱۷۴: $y = \frac{x^3}{3} + x^2 + x + \frac{1}{4x+4}, \quad 0 \le x \le 2$

سوال ۶.۱۷۵: $x = \int_0^y \sqrt{\sec^4 t - 1}\, dt, \quad -\frac{\pi}{4} \le y \le \frac{\pi}{4}$

سوال ۶.۱۷۶: $y = \int_{-2}^x \sqrt{3t^4 - 1}\, dt, \quad -2 \le x \le -1$

سوال ۶.۱۷۷: (ا) نقطہ $(1, 1)$ میں سے گزرتی ہوئی ایسی منحنی تلاش کریں جس کی لمبائی درج ذیل ہو (مساوات ۲)۔

$$L = \int_1^4 \sqrt{1 + \frac{1}{4x}}\, dx$$

(ب) ایسی کتنی منحنیات ہوں گی؟ اپنے جواب کی وجہ پیش کریں۔

سوال ۶.۱۷۸: (ا) نقطہ $(0, 1)$ میں سے گزرتی ہوئی ایسی منحنی تلاش کریں جس کی لمبائی درج ذیل ہو (مساوات ۳)۔

$$L = \int_1^2 \sqrt{1 + \frac{1}{y^4}}\, dy$$

(ب) ایسی کتنی منحنیات ہوں گی؟ اپنے جواب کی وجہ پیش کریں۔

سوال ۶.۱۷۹: $x = 0$ سے $x = \frac{\pi}{4}$ تک درج ذیل منحنی کی لمبائی تلاش کریں۔

$$y = \int_0^x \sqrt{\cos 2t}\, dt$$

سوال ۶.۱۸۰: ستارہ نما کی لمبائی

مساوات $x^{2/3} + y^{2/3} = 1$ خطوط کی ایک ایسی نسل کو ظاہر کرتی ہے جس کو ستارہ نما کہتے ہیں (شکل ۶.۸۰)۔ نصف ربع اول میں قوس کی لمبائی حاصل کر کے 8 سے ضرب دے کر کل لمبائی حاصل ہو گی۔ یوں $\frac{\sqrt{2}}{4} \le x \le 1$ پر منحنی $y = (1 - x^{2/3})^{3/2}$ کی لمبائی حاصل کر کے 8 سے ضرب دیں۔

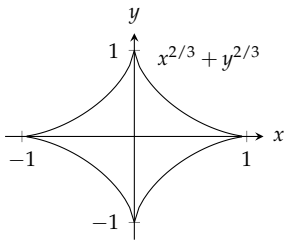

شکل ۶.۸۰: ستارہ نما۔

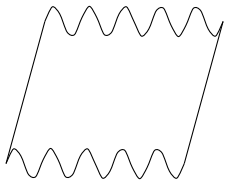

شکل ۶.۸۱: نالیدار چادر۔

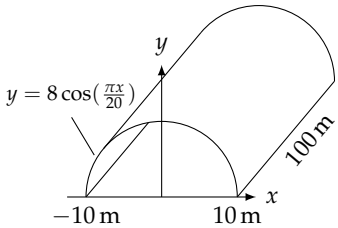

شکل ۶.۸۲: سرنگ۔

اعدادی تکمل

آپ سوچ رہے ہوں گے کہ کیوں اب تک لمبائی قوس میں زیادہ تر منحنیات کی مساواتیں پیچیدہ تھیں۔ اس کی وجہ لمبائی قوس کے تکمل میں $\sqrt{1 + (\frac{dy}{dx})^2}$ ہے جو عموماً مکمل مربع نہیں ہوتا اور جس کی وجہ سے متکمل کا الٹ تفرق ہم حاصل نہیں کر پاتے ہیں۔ حقیقت میں عموماً یہی جذر غیر بنیادی تکمل کا باعث بنتا ہے۔ اسی لئے، سوال ۶.۱۸۱ اور سوال ۶.۱۸۲ کی طرح، لمبائی قوس اور سطحی رقبہ کے تکمل عموماً اعدادی طریقوں سے حل کئے جاتے ہیں۔

سوال ۶.۱۸۱: آپ کا ادارہ چھتوں کے لئے لوہے کی نالیدار چادریں بناتا ہے۔ نالیدار چادروں کا عمودی تراش درج ذیل کے مطابق درکار ہے (شکل ۶.۸۱)۔

$$y = \sin \frac{3\pi}{50} x, \quad 0 \le x \le 50\,\text{cm}$$

مستوی چادر سے نالیدار چادر بناتے ہوئے چادر کی چوڑائی یا لمبائی تبدیل نہیں ہوتی ہے۔ درکار مستوی چادر کی چوڑائی معلوم کریں۔ اعدادی تراکیب استعمال کرتے ہوئے سائن نما چادر کی لمبائی تین اعشاریہ تک تلاش کریں۔

سوال ۶.۱۸۲: آپ کے انجینئری ادارے کو سرنگ بنانے کا کام ملا ہے۔ سرنگ کی لمبائی 100 m جبکہ اس کی چوڑائی 20 m ہے (شکل ۶.۸۲)۔ سرنگ کا عمودی تراش $y = 8\cos(\frac{\pi x}{20})$ کے مطابق ہے۔ مکمل ہونے کے بعد سرنگ کو اندر سے پن روک مسالہ کیا جائے گا جس پر 2000 روپیہ فی مربع میٹر لاگت متوقع ہے۔ مسالہ کرنے پر کل کتنا لاگت آئے گا؟ (اشارہ۔ اعدادی طریقہ سے کو سائن تفاعل کی لمبائی دریافت کریں۔)

نظریہ اور مثالیں

سوال ۶.۱۸۳: کیا ایسی ہموار منحنی $y = f(x)$ ہو سکتی ہے جس کی وقفہ $0 \le x \le a$ پر لمبائی $\sqrt{2}a$ ہو۔ اپنے جواب کی وجہ پیش کریں۔

سوال ۶.۱۸۴: مماسی تیلیوں سے لمبائی قوس کے کلیہ کا حصول۔

فرض کریں $[a, b]$ پر f ہموار ہے۔ وقفہ $[a, b]$ کی خانہ بندی کریں۔ ہر ذیلی وقفہ $[x_{k-1}, x_k]$ میں نقطہ $(x_{k-1}, f(x_{k-1}))$ پر مماسی تیلی بنائیں (نیچے شکل دیکھیں)۔

۱. دکھائیں کہ ذیلی وقفہ $[x_{k-1}, x_k]$ پر k ویں مماسی تیلی کی لمبائی $\sqrt{(\Delta x_k)^2 + (f'(x_{k-1})\Delta x_k)^2}$ ہے۔

۸۹۵۶ ب. دکھائیں کہ a تا b منحنی $y = f(x)$ کی لمبائی L درج ذیل ہے۔

$$\lim_{n\to\infty}\sum_{k=1}^{n}(\text{کویں تیلی کی لمبائی } k) = \int_a^b \sqrt{1+(f'(x))^2}\,\mathrm{d}x$$

۸۹۵۷

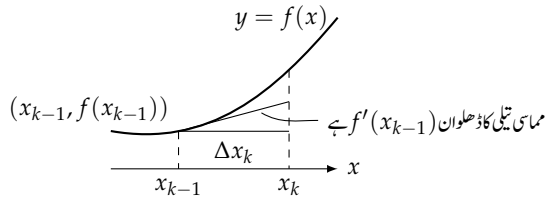

۸۹۵۸

۸۹۵۹ **کمپیوٹر کا استعمال**

۸۹۶۰ سوال ۶.۱۸۵ تا سوال ۶.۱۹۰ میں کمپیوٹر استعمال کرتے ہوئے درج ذیل اقدام کریں۔

۸۹۶۱ ا. منحنی ترسیم کریں۔ خانہ بندی کے نقطے $n = 2, 4, 8$ لیتے ہوئے تخمینی کثیر الاضلاع ترسیم کریں۔

۸۹۶۲ ب. مطابقتی قطعات کی لمبائیوں کا مجموعہ لے کر قوس کی تخمینی لمبائی معلوم کریں۔

۸۹۶۳ ج. تکمل سے قوس کی اصل لمبائی تلاش کریں۔ اصل لمبائی اور $n = 2, 4, 8$ لے کر حاصل تخمینی لمبائیوں کا موازنہ کریں۔ n بڑھانے سے تخمینی
۸۹۶۴ لمبائی اور اصل لمبائی کا مقابلہ کریں۔ اپنے جواب کی وضاحت کریں۔

۸۹۶۵ سوال ۶.۱۸۵: $f(x) = \sqrt{1-x^2}, \quad -1 \le x \le 1$

۸۹۶۶ سوال ۶.۱۸۶: $f(x) = x^{1/3} + x^{2/3}, \quad 0 \le x \le 2$

۸۹۶۷ سوال ۶.۱۸۷: $f(x) = \sin(\pi x^2), \quad 0 \le x \le \sqrt{2}$

۸۹۶۸ سوال ۶.۱۸۸: $f(x) = x^2 \cos x, \quad 0 \le x \le \pi$

۸۹۶۹ سوال ۶.۱۸۹: $f(x) = \frac{x-1}{4x^2+1}, \quad -\frac{1}{2} \le x \le 1$

۸۹۷۰ سوال ۶.۱۹۰: $f(x) = x^3 - x^2, \quad -1 \le x \le 1$

۸۹۷۱

۸۹۷۲

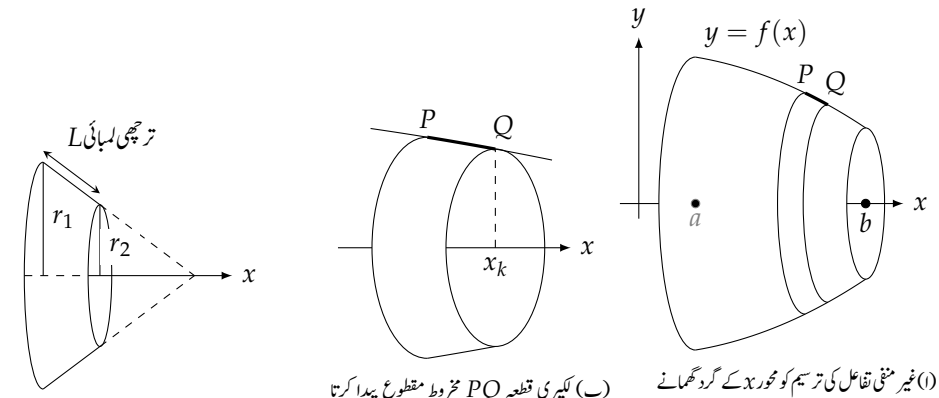

(ا) غیر منفی تفاعل کی ترسیم کو محور x کے گرد گھمانے سے سطح طواف پیدا کیا گیا ہے۔

(ب) لکیری قطعہ PQ مخروط مقطوع پیدا کرتا ہے۔

(ج) مخروط مقطوع کے اہم متغیرات۔

شکل ۶.۸۳: سطح طواف کو قوس PQ سے پیدا ٹپوں کا مجموعہ تصور کیا جا سکتا ہے۔

۸۹۷۳ ۶.۶ سطح طواف کا رقبہ

۸۹۷۴ بچپن میں آپ نے دوستوں کے ساتھ مل کر رسی گھماتے ہوئے رسی کے اوپر سے چھلانگیں ضرور لگائی ہوں گی۔ یہ رسی فضا میں پھیر کر ایک سطح بناتی ہے جس کو
۸۹۷۵ **سطح طواف**[9] کہتے ہیں۔ سطح طواف کا رقبہ رسی کی لمبائی اور رسی کے ہر حصے کی جھول پر منحصر ہو گا۔ اس حصہ میں سطح طواف کا رقبہ اور سطح کو پیدا کرنے والی منحنی
۸۹۷۶ کی لمبائی اور جھول کے تعلق پر غور کیا جائے گا۔ زیادہ پیچیدہ سطحوں پر بعد کے باب میں غور کیا جائے گا۔

۸۹۷۷ بنیادی کلیہ

۸۹۷۸ فرض کریں ہم غیر منفی تفاعل $y = f(x),\ a \leq x \leq b$ کو x محور کے گرد گھما کر پیدا سطح طواف کا سطحی رقبہ جاننا چاہتے ہیں۔ ہم $[a, b]$ کی
۸۹۷۹ خانہ بندی کر کے نقاط خانہ بندی استعمال کرتے ہوئے ترسیم کو چھوٹے حصوں میں تقسیم کرتے ہیں۔ شکل ۶.۸۳-ا میں نمائندہ حصہ PQ اور اس کی پیدا کردہ
۸۹۸۰ پٹی دکھائی گئی ہے۔

۸۹۸۱ قوس PQ محور x کے گرد گھومتے ہوئے مخروط سطح پیدا کرتی ہے جس کو بڑا کر کے شکل ۶.۸۳-ب میں دکھایا گیا ہے۔ محور x اس مخروط سطح کا محور ہو گا۔
۸۹۸۲ مخروط کے ایسے حصے کو **مخروط مقطوع**[10] کہتے ہیں۔ مخروط مقطوع کا سطحی رقبہ، PQ کی پیدا کردہ پٹی کے رقبہ کا تخمین ہو گا۔

۸۹۸۳ مخروط مقطوع (شکل ۶.۸۳-ج) کا سطحی رقبہ 2π ضرب دونوں سروں کے رداس کا اوسط ضرب ترچھا قد کے برابر ہو گا۔

$$\text{مخروط مقطوع کا سطحی رقبہ} = 2\pi \cdot \frac{r_1 + r_2}{2} \cdot L = \pi(r_1 + r_2)L$$

---

[9] surfaceofrevolution
[10] frustum

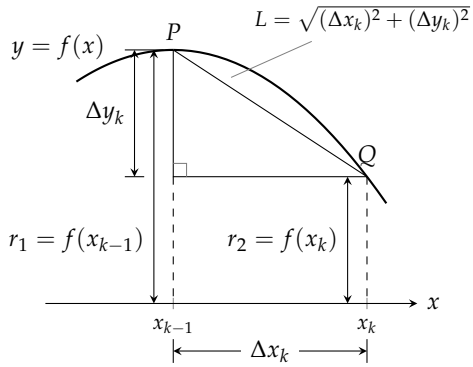

شکل ۶.۸۴: لکیر اور قوس PQ کے ساتھ وابستہ متغیرات۔

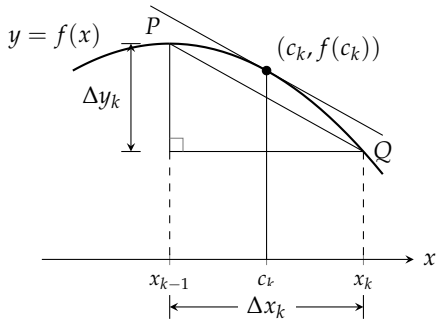

شکل ۶.۸۵: خط مستقیم PQ اور نقطہ c_k پر مماس متوازی ہیں۔

۸۹۸۴ قطعہ PQ کے پیدا کردہ مخروط مقطوع (شکل ۶.۸۴) کے لئے اس سے درج ذیل حاصل ہوتا ہے۔

$$\text{مخروط مقطوع کا سطحی رقبہ} = \pi(f(x_{k-1}) + f(x_k))\sqrt{(\Delta x_k)^2 + (\Delta y_k)^2}$$

۸۹۸۵ پوری سطح طواف کا رقبہ تخمیناً ایسے تمام چھوٹے قطعات کی پیدا کردہ مخروط مقطوع کے سطحی رقبوں کا مجموعہ کے ہو گا۔

$$\sum_{k=1}^{n} \pi(f(x_{k-1}) + f(x_k))\sqrt{(\Delta x_k)^2 + (\Delta y_k)^2} \tag{۱}$$

۸۹۸۶ ہم توقع کرتے ہیں کہ $[a, b]$ کی زیادہ باریک خانہ بندی سے تخمین بہتر ہو گی۔ ہم دکھانا چاہتے ہیں کہ خانہ بندی کا معیار صفر تک پہنچنے سے مساوات ۱ میں دیا گیا
۸۹۸۷ مجموعہ قابل حل حد دیگا۔

۸۹۸۸ یہ دکھانے کی خاطر ہم مساوات ۱ کو وقفہ $[a, b]$ پر کسی تفاعل کا ریمان مجموعہ لکھتے ہیں۔ لمبائی قوس کے حصول کی طرح ہم تفرقات کے مسئلہ اوسط قیمت کی
۸۹۸۹ طرف دیکھتے ہیں۔

۸۹۹۰ اگر f ہموار ہو تب مسئلہ اوسط قیمت کے تحت P اور Q کے بیچ ایسا نقطہ $(c_k, f(c_k))$ ضرور پایا جائے گا جہاں مماس قطعہ PQ کے متوازی ہو گا
۸۹۹۱ (شکل ۶.۸۵)۔ اس نقطہ پر درج ذیل ہو گا۔

$$f'(c_k) = \frac{\Delta y_k}{\Delta x_k}$$
$$\Delta y_k = f'(c_k)\Delta x_k$$

۸۹۹۲ مساوات ۱ میں درج بالا Δy_k پر کرتے ہیں۔

$$\sum_{k=1}^{n} \pi(f(x_{k-1}) + f(x_k))\sqrt{(\Delta x_k)^2 + (\Delta y_k)^2} \tag{۲}$$
$$= \sum_{k=1}^{n} \pi(f(x_{k-1}) + f(x_k))\sqrt{1 + (f'(c_k))^2}\Delta x_k$$

۸۹۹۳ اب یہاں ایک بری خبر اور ایک اچھی خبر ہے۔

۸۹۹۴ بری خبر یہ ہے کہ مساوات ۲ میں x_{k-1} ، x_k اور c_k ایک دوسرے سے مختلف ہیں اور انہیں ایک دوسرے جیسا کسی صورت نہیں بنایا جا سکتا ہے لہٰذا
۸۹۹۵ مساوات ۲ میں دیا گیا مجموعہ ریمان مجموعہ نہیں ہے۔ اچھی خبر یہ ہے کہ اس سے کوئی فرق نہیں پڑتا۔ اعلیٰ احصاء کا مسئلہ بلس کہتا ہے کہ وقفہ $[a, b]$ کی خانہ
۸۹۹۶ بندی کا معیار صفر تک پہنچانے سے مساوات ۲ میں دیا گیا مجموعہ درج ذیل کو مرکوز ہو گا

$$\int_a^b 2\pi f(x)\sqrt{1 + (f'(x))^2}\,\mathrm{d}x$$

۸۹۹۷ جو ہم چاہتے ہیں۔ یوں a تا b تفاعل f کی ترسیم کو x محور کے گرد گھمانے سے حاصل سطح طواف کے رقبہ کی تعریف ہم اسی تکمل کو لیتے ہیں۔

۸۹۹۸ تعریف: **محور x کے گرد سطح طواف کے رقبہ کا کلیہ**

۸۹۹۹ اگر $[a, b]$ پر تفاعل $f(x) \geq 0$ ہموار ہو تب تفاعل $y = f(x)$ کو x محور کے گرد گھمانے سے حاصل سطح طواف کا رقبہ درج ذیل ہو گا۔

$$S = \int_a^b 2\pi y\sqrt{1 + \left(\frac{\mathrm{d}y}{\mathrm{d}x}\right)^2}\,\mathrm{d}x = \int_a^b 2\pi f(x)\sqrt{1 + (f'(x))^2}\,\mathrm{d}x \tag{۳}$$

۹۰۰۰ □

۹۰۰۱ مساوات ۳ میں جذر وہی ہے جو پیداکار منحنی کی لمبائی قوس کے کلیہ میں پایا جاتا ہے۔

۹۰۰۲ مثال ۶.۲۱: محور x کے گرد منحنی $y = 2\sqrt{x},\ 1 \leq x \leq 2$ گھما کر سطح طواف پیدا کیا جاتا ہے (شکل ۶.۸۶)۔ اس سطح طواف کا رقبہ تلاش
۹۰۰۳ کریں۔

۹۰۰۴ حل: ہم درج ذیل لیتے ہوئے

$$a = 1,\ b = 2,\ y = 2\sqrt{x},\ \frac{\mathrm{d}y}{\mathrm{d}x} = \frac{1}{\sqrt{2}}$$
$$\sqrt{1 + \left(\frac{\mathrm{d}y}{\mathrm{d}x}\right)^2} = \sqrt{1 + \left(\frac{1}{\sqrt{x}}\right)^2}$$
$$= \sqrt{1 + \frac{1}{x}} = \sqrt{\frac{x+1}{x}} = \frac{\sqrt{x+1}}{\sqrt{x}}$$

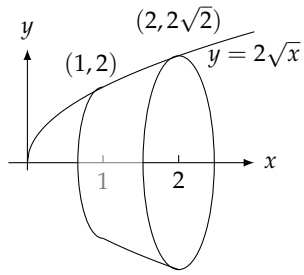

شکل ۶.۸۶: سطح طواف برائے مثال ۶.۲۱

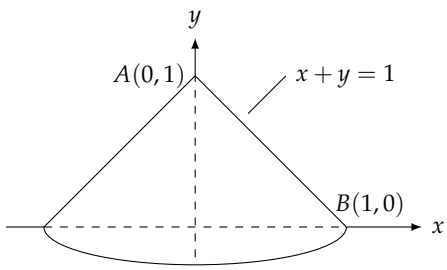

شکل ۶.۸۷: سطح طواف برائے مثال ۶.۲۲

۹۰۰۵ مساوات ۳ استعمال کرتے ہیں۔

$$S = \int_1^2 2\pi \cdot 2\sqrt{x}\frac{\sqrt{x+1}}{\sqrt{x}}\,\mathrm{d}x = 4\pi\int_1^2 \sqrt{x+1}\,\mathrm{d}x$$
$$= 4\pi \cdot \frac{2}{3}(x+1)^{3/2}\Big]_1^2 = \frac{8\pi}{3}(3\sqrt{3} - 2\sqrt{2})$$

۹۰۰۶ □

۹۰۰۷ **محور y کے گرد سطح طواف**

۹۰۰۸ محور y کے گرد سطح طواف کے لئے ہم مساوات ۳ میں x اور y کی جگہیں تبدیل کرتے ہیں۔

۹۰۰۹ **محور y کے گرد سطح طواف کے رقبہ کا کلیہ**

۹۰۱۰ اگر $[c, d]$ پر $x = g(y) \geq 0$ ہموار ہو تب منحنی $x = g(y)$ کو محور y کے گرد گھمانے سے حاصل سطح طواف کا رقبہ درج ذیل ہو گا۔

$$S = \int_c^d 2\pi x\sqrt{1 + \left(\frac{\mathrm{d}x}{\mathrm{d}y}\right)^2}\,\mathrm{d}y = \int_c^d 2\pi g(y)\sqrt{1 + (g'(y))^2}\,\mathrm{d}y \qquad (۴)$$

۹۰۱۱ مثال ۶.۲۲: لکیری قطعہ $x = 1 - y,\ 0 \leq y \leq 1$ کو محور y کے گرد گھما کر مخروط حاصل کیا جاتا ہے (شکل ۶.۸۷)۔ اس کا رقبہ پہلو
۹۰۱۲ تلاش کریں۔

۹۰۱۳ حل: اس رقبہ کو جیومیٹری سے حاصل کیا جا سکتا ہے۔

$$\text{رقبہ پہلو} = \frac{\text{قاعدے کا محیط}}{2} \times \text{ترچھا قد} = \pi\sqrt{2}$$

۹.۱۴ آئیں درج ذیل لے کر

$$c = 0,\ d = 1,\ x = 1 - y,\ \frac{\mathrm{d}x}{\mathrm{d}y} = -1$$

$$\sqrt{1 + \left(\frac{\mathrm{d}x}{\mathrm{d}y}\right)^2} = \sqrt{1 + (-1)^2} = \sqrt{2}$$

۹.۱۵ مساوات ۴ سے اس رقبہ کا حاصل کریں۔

$$S = \int_c^d 2\pi x \sqrt{1 + \left(\frac{\mathrm{d}x}{\mathrm{d}y}\right)^2}\,\mathrm{d}y = \int_0^1 2\pi(1-y)\sqrt{2}\,\mathrm{d}y$$

$$= 2\pi\sqrt{2}\left[y - \frac{y^2}{2}\right]_0^1 = 2\pi\sqrt{2}\left(1 - \frac{1}{2}\right) = \pi\sqrt{2}$$

۹.۱۶ دونوں نتائج ایک سا ہیں جیسا کہ ہونا چاہیے۔ □

۹.۱۷ **مختصر تفریقی روپ**

۹.۱۸ درج ذیل مساواتوں

$$S = \int_a^b 2\pi y \sqrt{1 + \left(\frac{\mathrm{d}y}{\mathrm{d}x}\right)^2}\,\mathrm{d}x \quad \text{اور} \quad S = \int_c^d 2\pi x \sqrt{1 + \left(\frac{\mathrm{d}x}{\mathrm{d}y}\right)^2}\,\mathrm{d}y$$

۹.۱۹ کو عموماً تفریقی لمبائی قوس $\mathrm{d}s = \sqrt{\mathrm{d}x^2 + \mathrm{d}y^2}$ کی صورت میں لکھا جاتا ہے:

$$S = \int_a^b 2\pi y\,\mathrm{d}s \quad \text{اور} \quad S = \int_c^d 2\pi x\,\mathrm{d}s$$

۹.۲۰ بایاں مساوات میں x محور سے قطعہ $\mathrm{d}s$ تک فاصلہ y ہے۔ دایاں مساوات میں y محور سے قطعہ $\mathrm{d}s$ کا فاصلہ x ہے۔ ان دونوں کلیوں کو

$$S = \int 2\pi(\text{رداس})(\text{چوڑائی پٹی}) = \int 2\pi\rho\,\mathrm{d}s$$

۹.۲۱ لکھا جا سکتا ہے جہاں رکن لمبائی قوس $\mathrm{d}s$ تک محور طواف سے فاصلہ ρ ہے (شکل ۶.۸۸)۔

۹.۲۲ **مختصر تفریقی روپ**

۹.۲۳

$$S = \int 2\pi\rho\,\mathrm{d}s$$

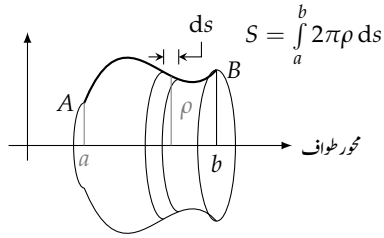

شکل ۶.۸۸: قوس AB کو محور طواف کے گرد گھما کر حاصل سطح طواف کا رقبہ $\int_a^b 2\pi\rho\, \mathrm{d}s$ ہو گا۔

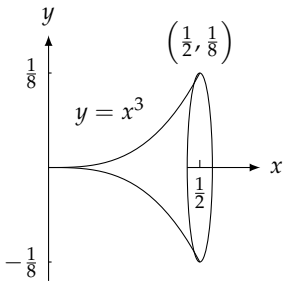

شکل ۶.۸۹: قوس $y = x^3$ کو محور x کے گرد گھما کر سطح طواف پیدا کیا گیا ہے۔

۹۰۲۴ کسی مخصوص مسئلے میں آپ قوسچہ $\mathrm{d}s$ اور رداس ρ کو کسی مشترکہ متغیر کی صورت میں لکھ کر تکمل کی حدود بھی اسی متغیر کے روپ میں مہیا کریں گے۔

۹۰۲۵ مثال ۶.۲۳: منحنی $y = x^3,\ 0 \leq x \leq \frac{1}{2}$ کو محور x کے گرد گھما کر سطح طواف پیدا کیا جاتا ہے (شکل ۶.۸۹)۔ اس کا سطحی رقبہ معلوم
۹۰۲۶ کریں۔

۹۰۲۷ حل: ہم مختصر تفریقی روپ سے شروع کرتے ہیں۔

$$
\begin{aligned}
S &= \int 2\pi\rho\, \mathrm{d}s \\
&= \int 2\pi y\, \mathrm{d}s \\
&= \int 2\pi y \sqrt{\mathrm{d}x^2 + \mathrm{d}y^2} \qquad\qquad \mathrm{d}s = \sqrt{\mathrm{d}x^2 + \mathrm{d}y^2}
\end{aligned}
$$

۹۰۲۸ ہم نے یہاں فیصلہ کرنا ہو گا کہ آیا $\mathrm{d}s$ کو $\mathrm{d}x$ یا $\mathrm{d}y$ کی روپ میں لکھیں۔ منحنی کی مساوات $y = x^3$ سے $\mathrm{d}y$ کو $\mathrm{d}x$ کی صورت میں لکھنا زیادہ
۹۰۲۹ آسان ہے لہٰذا ہم درج ذیل استعمال کریں گے۔

$$y = x^3,\ \mathrm{d}y = 3x^2\, \mathrm{d}x,\ \sqrt{\mathrm{d}x^2 + \mathrm{d}y^2} = \sqrt{\mathrm{d}x^2 + (3x^2\, \mathrm{d}x)^2} = \sqrt{1 + 9x^4}\, \mathrm{d}x$$

۹۰۳۰ انہیں استعمال کرتے ہوئے تکمل کا متغیر x ہو گا۔

$$\begin{aligned}
S &= \int_{x=0}^{x=1/2} 2\pi y\sqrt{\mathrm{d}x^2+\mathrm{d}y^2}\\
&= \int_0^{1/2} 2\pi x^3\sqrt{1+9x^4}\,\mathrm{d}x\\
&= 2\pi(\tfrac{1}{36})(\tfrac{2}{3})(1+9x^4)^{3/2}\Big]_0^{1/2}\\
&= \tfrac{\pi}{27}[(1+\tfrac{9}{16})^{3/2}-1]\\
&= \tfrac{\pi}{27}[(\tfrac{25}{16})^{3/2}-1]\\
&= \tfrac{\pi}{27}(\tfrac{125}{64}-1)\\
&= \tfrac{61\pi}{1728}
\end{aligned}$$

۹۰۳۱ □

۹۰۳۲ **سوالات**

۹۰۳۳ **سطحی رقبہ کے تکمل**

۹۰۳۴ سوال ۶.۱۹۱ تا سوال ۶.۱۹۸ میں درج ذیل اقدام کریں۔

۹۰۳۵ ا. دیے گئے منحنی کو دیے گئے محور کے گرد گھما کر سطح طواف حاصل کیا جاتا ہے۔ اس کے سطحی رقبے کا تکمل لکھیں۔

۹۰۳۶ ب. منحنی کو ترسیم کر کے اس کی صورت دیکھیں۔ سطحی رقبہ کو بھی ترسیم کریں۔

۹۰۳۷ ج. کمپیوٹر کی مدد سے اس تکمل کو اعدادی طریقہ سے حل کریں۔

۹۰۳۸ سوال ۶.۱۹۱: محور x $\quad y=\tan x,\quad 0\le x\le \frac{\pi}{4};$

۹۰۳۹ سوال ۶.۱۹۲: محور x $\quad y=x^2,\quad 0\le x\le 2;$

۹۰۴۰ سوال ۶.۱۹۳: محور y $\quad xy=1,\quad 1\le y\le 2;$

۹۰۴۱ سوال ۶.۱۹۴: محور y $\quad x=\sin y,\quad 0\le y\le \pi;$

۹۰۴۲ سوال ۶.۱۹۵: محور x $\quad$ نقطہ $(1,4)$ سے $(4,1)$ تک $;\quad x^{1/2}+y^{1/2}=3,$

۹۰۴۳ سوال ۶.۱۹۶: محور y $\quad y+2\sqrt{y}=x,\quad 1\le y\le 2;$

۹۰۴۴ سوال ۶.۱۹۷: محور y $\quad x=\int_0^y \tan t\,\mathrm{d}t,\quad 0\le y\le \frac{\pi}{3};$

۹۰۴۵ سوال ۶.۱۹۸: محور x $\quad y=\int_1^x \sqrt{t^2-1}\,\mathrm{d}t,\quad 1\le x\le \sqrt{5};$

سطح رقبہ کا حصول

سوال ۶.۱۹۹: لکیری قطعہ $y = \frac{x}{2},\ 0 \le x \le 4$ کو x محور کے گرد گھما کر مخروط پیدا کیا جاتا ہے۔ اس کے پہلو کا رقبہ تکمل سے تلاش کریں۔ جیومیٹری کے کلیہ (پہلو کا رقبہ $= \frac{1}{2}$ (محیط تلہ) (ترچھا قد)) سے اپنے جواب کی تصدیق کریں۔

سوال ۶.۲۰۰: لکیری قطعہ $y = \frac{x}{2},\ 0 \le x \le 4$ کو y محور کے گرد گھما کر مخروط پیدا کیا جاتا ہے۔ اس کے پہلو کا رقبہ تکمل سے تلاش کریں۔ جیومیٹری کے کلیہ سے اپنے جواب کی تصدیق کریں۔

سوال ۶.۲۰۱: لکیری قطعہ $y = \frac{x}{2} + \frac{1}{2},\ 1 \le x \le 3$ کو x محور کے گرد گھما کر مخروط مقطوع پیدا کیا جاتا ہے۔ اس کے پہلو کا رقبہ تکمل سے تلاش کریں۔ جیومیٹری کے کلیہ (رقبہ مخروط مقطوع $= \pi\,(r_1 + r_2)$ (ترچھا قد)) سے اپنے جواب کی تصدیق کریں۔

سوال ۶.۲۰۲: لکیری قطعہ $y = \frac{x}{2} + \frac{1}{2},\ 1 \le x \le 3$ کو y محور کے گرد گھما کر مخروط مقطوع پیدا کیا جاتا ہے۔ اس کے پہلو کا رقبہ تکمل سے تلاش کریں۔ جیومیٹری کے کلیہ (رقبہ مخروط مقطوع $= \pi\,(r_1 + r_2)$ (ترچھا قد)) سے اپنے جواب کی تصدیق کریں۔

سوال ۶.۲۰۳ تا سوال ۶.۲۱۲ میں منحنی کو دیے گئے محور کے گرد گھما کر سطح طواف پیدا کیا جاتا ہے۔ اس سطح کا رقبہ معلوم کریں۔ بہتر ہو گا کہ آپ دیے گئے منحنی کو کمپیوٹر پر ترسیم کر کے منحنی کی صورت سیکھیں۔

سوال ۶.۲۰۳: محور x $\quad y = \frac{x^3}{9},\quad 0 \le x \le 2,$

سوال ۶.۲۰۴: محور x $\quad y = \sqrt{x},\quad \frac{3}{4} \le x \le \frac{15}{4},$

سوال ۶.۲۰۵: محور x $\quad y = \sqrt{2x - x^2},\quad 0.5 \le x \le 1.5,$

سوال ۶.۲۰۶: محور x $\quad y = \sqrt{x+1},\quad 1 \le x \le 5,$

سوال ۶.۲۰۷: محور y $\quad x = \frac{y^3}{3},\quad 0 \le y \le 1,$

سوال ۶.۲۰۸: محور y $\quad x = \frac{1}{3}y^{3/2} - y^{1/2},\quad 1 \le y \le 3,$

سوال ۶.۲۰۹: محور y $\quad x = 2\sqrt{4-y},\quad 0 \le y \le \frac{15}{4},$ (شکل ۶.۹۰)

سوال ۶.۲۱۰: محور y $\quad x = \sqrt{2y-1},\quad \frac{5}{8} \le y \le 1,$ (شکل ۶.۹۱)

سوال ۶.۲۱۱: محور x $\quad x = \frac{y^4}{4} + \frac{1}{8y^2},\quad 1 \le y \le 2,$ (اشارہ۔ تکمل میں $\mathrm{d}s = \sqrt{\mathrm{d}x^2 + \mathrm{d}y^2}$ کو $\mathrm{d}y$ کی صورت میں لکھ کر $S = \int 2\pi y\,\mathrm{d}s$ میں موزوں حد لیتے ہوئے حل کریں۔)

سوال ۶.۲۱۲: محور y $\quad y = \frac{1}{3}(x^2+2)^{3/2},\quad 0 \le x \le \sqrt{2},$ (اشارہ۔ تکمل میں $\mathrm{d}s = \sqrt{\mathrm{d}x^2 + \mathrm{d}y^2}$ کو $\mathrm{d}x$ کی صورت میں لکھ کر $S = \int 2\pi x\,\mathrm{d}s$ میں موزوں حد لیتے ہوئے حل کریں۔)

سوال ۶.۲۱۳: نئی تعریف کی پرکھ

تفاعل $y = \sqrt{a^2 - x^2},\ -a \le x \le x$ کو x محور کے گرد گھمانے سے کروی سطح حاصل ہوتا ہے۔ دکھائیں کہ مساوات ۳ سے بھی رداس a کرہ کا سطحی رقبہ $4\pi a^2$ حاصل ہوتا ہے۔

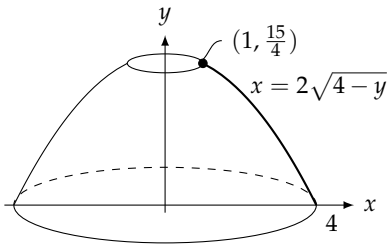

شکل ۶.۹۰

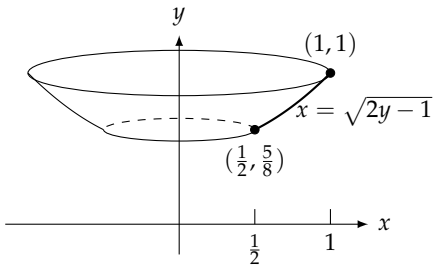

شکل ۶.۹۱

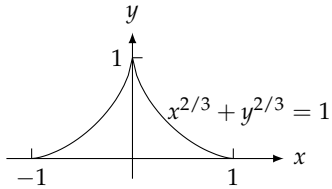

شکل ۶.۹۲

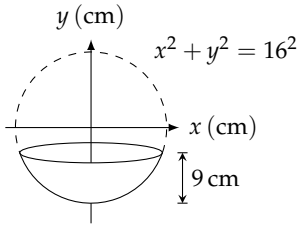

شکل ۶.۹۳

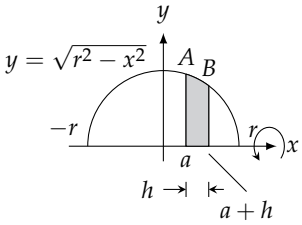

شکل ۶.۹۴

سوال ۶.۲۱۴: نئی تعریف کی پرکھ

لکیری قطعہ $y = \frac{r}{h}x,\ 0 \le x \le h$ کو x محور کے گرد گھمانے سے مخروط پیدا ہوتا ہے جس کے پہلو کا رقبہ $\pi r\sqrt{r^2+h^2}$ ہوتا ہے جہاں مخروط کا قد h اور اس کے تلا کا رداس r ہے لہٰذا اس کے ترچھا قد $\sqrt{r^2+h^2}$ ہو گا۔ تکمل سے مخروط کے پہلو کا رقبہ دریافت کر کے اس کلیہ کی تصدیق کریں۔

سوال ۶.۲۱۵: (ا) منحنی $y = \cos x,\ -\frac{\pi}{2} \le x \le \frac{\pi}{2}$ کو x محور کے گرد گھما کر سطح طواف پیدا ہوتا ہے۔ اس سطح طواف کے رقبہ کا تکمل لکھیں جس کو حل کرنا حصہ ۸.۴ میں سکھایا جائے گا۔ (ب) اس سطحی رقبے کو اعدادی طریقہ سے دریافت کریں۔

سوال ۶.۲۱۶: ستارہ نما کا سطحی رقبہ

ستارہ نما $x^{2/3} + y^{2/3} = 1$ کا وہ حصہ جو x محور سے اوپر پایا جاتا ہے کو x محور کے گرد گھما کر سطح طواف پیدا کیا جاتا ہے (شکل ۶.۹۲)۔ اس سطح طواف کا رقبہ معلوم کریں۔ (اشارہ۔ ربع اول میں منحنی کے حصہ $y = (1-x^{2/3})^{3/2},\ 0 \le x \le 1$ کو x محور کے گرد گھما کر نتیجہ کو دگنا کریں۔)

سوال ۶.۲۱۷: رنگ

ایک برتن کو رداس 16 cm کے کرہ کا حصہ تصور کیا جا سکتا ہے (شکل ۶.۹۳)۔ برتن کی گہرائی 9 cm ہے۔ برتن کو اندر اور باہر سے رنگ کرنا مطلوب ہے۔ کچے رنگ کی 0.5 mm موٹی تہہ برتن پر چھڑک کر پکائی جاتی ہے۔ پانچ ہزار برتن کے لئے درکار کچے رنگ کا حجم معلوم کریں۔ رنگ کے ضیاع کو نظر انداز کریں۔

سوال ۶.۲۱۸: ڈبل روٹی کا کرارا حصہ

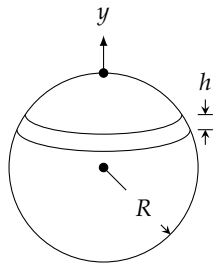

شکل ۶.۹۵

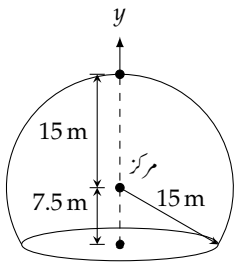

شکل ۶.۹۶

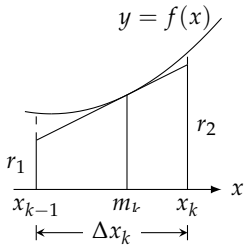

شکل ۶.۹۷

ڈبل روٹی اندر سے نرم اور باہر سے کرارا ہوتی ہے۔ کیا آپ جانتے ہیں کہ کروی ڈبل روٹی کے ایک جتنی موٹی کتلوں میں ایک جتنا کرارا حصہ پایا جاتا ہے (شکل ۶.۹۴)؟ یہ دیکھنے کی خاطر نصف دائرہ $y = \sqrt{r^2 - x^2}$ کو x محور کے گرد گھما کر کرہ بنائیں۔ فرض کریں محور x پر وقفہ h کے اوپر نصف دائرے کی قوس AB ہے۔ دکھائیں کہ نصف دائرے کو x محور کے گرد گھمانے سے AB سے حاصل رقبہ کی قیمت h کے مقام پر منحصر نہیں ہے۔ (کرارا رقبہ کی قیمت h پر منحصر ہو گی۔)

سوال ۶.۲۱۹: دو متوازی سطحیں جن کے مابین فاصلہ h ہے رداس R کے کروی سطح سے ایک پٹی کاٹتے ہیں (شکل ۶.۹۵)۔ دکھائیں کہ اس پٹی کا رقبہ $2\pi Rh$ ہو گا۔

سوال ۶.۲۲۰: موسمیاتی ریڈار کو شکل ۶.۹۶ میں دکھائے گئے گنبد میں رکھا گیا ہے۔ گنبد کا بیرونی رقبہ کتنا ہو گا؟ (تلا کو شامل نہ کریں۔)

سوال ۶.۲۲۱: محور طواف کو قطع کرنے والی منحنیات سے حاصل سطح طواف

وقفہ $[a, b]$ پر تفاعل f کو غیر منفی تصور کرتے ہوئے مساوات ۱۳ اخذ کی گئی۔ جہاں تفاعل محور طواف کو قطع کرتا ہو وہاں ہم مساوات ۳ کی جگہ درج ذیل مطلق قیمت کلیہ استعمال کرتے ہیں۔

$$S = \int 2\pi\rho \, \mathrm{d}s = \int 2\pi \left| f(x) \right| \mathrm{d}s \qquad (۵)$$

تفاعل $y = \frac{x^3}{9} - \sqrt{3}, \ -\sqrt{3} \le x \le \sqrt{3}$ کو محور x کے گرد گھمانے سے حاصل دوہرا مخروط کا سطحی رقبہ مساوات ۱۵ استعمال کرتے ہوئے دریافت کریں۔

سوال ۶.۲۲۲: قوس $y = \frac{x^3}{9} - \sqrt{3}, \ -\sqrt{3} \le x \le \sqrt{3}$ کو محور x کے گرد گھما کر سطح طواف پیدا کیا جاتا ہے۔ مساوات ۵ میں مطلق کی علامت ہٹا کر سطحی رقبہ تلاش کرنے سے کیا ہو گا؟

اعدادی تکمل

سوال ۶.۲۲۳ تا سوال ۶.۲۲۳ میں محور x کے گرد دیے گئے منحنیات گھمانے سے سطح طواف پیدا ہوں گے۔ ان سطح طواف کے رقبے اعدادی تراکیب سے 2 اعشاریہ درستگی تک معلوم کریں۔

سوال ۶.۲۲۳: $y = \sin x, \quad 0 \le x \le \pi$

سوال ۶.۲۲۴: $y = \frac{x^2}{4}, \quad 0 \le x \le 2$

سوال ۶.۲۲۵: $y = x + \sin 2x, \quad -\frac{2\pi}{3} \le x \le \frac{2\pi}{3}$

سوال ۶.۲۲۶: $y = \frac{x}{12}\sqrt{36 - x^2}, \quad 0 \le x \le 6$

سوال ۶.۲۲۷: سطحی رقبہ کا متبادل کلیہ

فرض کریں $[a, b]$ پر f ہموار ہے۔ وقفہ $[a, b]$ کی خانہ بندی کریں اور k ویں ذیلی وقفہ $[x_{k-1}, x_k]$ کے وسطی نقطہ $= m_k$ $\left(\frac{x_{k-1}+x_k}{2}\right)$ پر منحنی کی مماس لکیر بنائیں (شکل ۶.۹۷)۔

ا. درج ذیل دکھائیں۔

$$r_1 = f(m_k) - f'(m_k)\frac{\Delta x_k}{2}, \quad r_2 = f(m_k) + f'(m_k)\frac{\Delta x_k}{2}$$

ب. دکھائیں کہ k ویں ذیلی وقفہ میں مماسی قطعہ کی لمبائی $L_k = \sqrt{(\Delta x_k)^2 + (f'(m_k)\Delta x_k)^2}$ ہے۔

ج. دکھائیں کہ مماسی قطعہ کو محور x کے گرد گھمانے سے حاصل سطح طواف کا رقبہ پہلو $2\pi f(m_k)\sqrt{1 + (f'(m_k))^2}\Delta x_k$ ہو گا۔

د. دکھائیں کہ وقفہ $[a, b]$ پر $y = f(x)$ کو محور x گھمانے سے حاصل سطح طواف کا رقبہ درج ذیل ہو گا۔

$$\lim_{n\to\infty}\sum_{k=1}^{n}(k\text{ویں مخروط مقطوع کا رقبہ پہلو}) = \int_a^b 2\pi f(x)\sqrt{1 + (f'(x))^2}\,\mathrm{d}x$$

۶.۷ معیار اثر اور مرکز کمیت

بہت سارے ساخت اور میکانی نظام کا رویہ ایسا ہوتا ہے جیسا ان کی کمیت ایک نقطہ میں سموئی ہو جس کو مرکز کمیت کہتے ہیں۔ اس نقطہ کا مقام جاننا اہم ہے جسے ریاضی کی مدد سے معلوم کیا جا سکتا ہے۔ اس باب میں یک بعدی اور دو بعد چیزوں پر توجہ دی جائے گی۔ تین بعدی چیزوں پر کے باب ۱۴ میں غور کیا جائے گا۔

لکیر پر کمیت

ہم اپنا ریاضی نمونہ بتدریج تیار کرتے ہیں۔ ابتدائی منزل میں ہم محور x جس کا مبدا اس کا چول ہو، پر کمیت m_1 ، m_2 اور m_3 تصور کرتے ہیں۔ یہ نظام متوازن یا غیر متوازن ہو گا۔ توازن کا دارومدار کمیتوں کی مقدار اور ان کے مقامات پر منحصر ہے۔

ہر کمیت m_k پر نیچے رخ قوت $m_k g$ عمل کرتا ہے جہاں g ثقلی اسراع ہے (قوت $m_k g$ کو کمیت k_k کا وزن کہتے ہیں)۔ ہر ایسی قوت محور کو مبدا کے گرد گھمانے کی کوشش کرتی ہے۔ گھومنے کے اس اثر کو **قوت مروڑ**[11] کہتے ہیں۔ قوت $m_k g$ کو مبدا سے فاصلہ x_k سے ضرب دینے سے قوت مروڑ کی مقدار حاصل ہوتی ہے جہاں فاصلہ مثبت یا منفی ممکن ہے۔ مبدا سے بائیں جانب کمیت منفی (گھڑی مخالف) قوت مروڑ پیدا کرتا ہے جبکہ مبدا سے دائیں جانب کمیت مثبت (گھڑی رخ) قوت مروڑ پیدا کرتا ہے۔

قوت مروڑ کا مجموعہ، مبدا کے گرد نظام گھومنے کے رجحان کی ناپ ہے۔ اس مجموعہ کو **نظام کی قوت مروڑ**[12] کہتے ہیں۔

$$\text{نظام کی قوت مروڑ} = m_1 g x_1 + m_2 g x_2 + m_3 g x_3 \tag{۱}$$

نظام صرف اور صرف اس صورت متوازن ہو گا جب نظام کی قوت مروڑ صفر ہو۔

نظام کی قوت مروڑ کو

$$\underbrace{g}_{\text{خاصیت ماحول}} \underbrace{(m_1 x_1 + m_2 x_2 + m_3 x_3)}_{\text{خاصیت نظام}}$$

لکھا جا سکتا ہے جہاں g اس ماحول کی خاصیت ہے جس میں نظام پایا جاتا ہے جبکہ عدد $(m_1 x_1 + m_2 x_2 + m_3 x_3)$ نظام کی خاصیت ہے جو ایک مستقل ہے اور نظام کو ایک ماحول سے دوسرے ماحول میں منتقل کرنے سے تبدیل نہیں ہوتا۔

عدد $(m_1 x_1 + m_2 x_2 + m_3 x_3)$ کو **مبدا کے لحاظ سے نظام کا معیار اثر** کہتے ہیں جو انفرادی کمیت کے معیار اثر $m_1 x_1$ ، $m_2 x_2$ اور $m_3 x_3$ کا مجموعہ ہے۔

$$M_0 = \text{مبدا کے لحاظ سے نظام کا معیار اثر} = \sum m_k x_k$$

ہم نظام کو متوازن بنانے کی خاطر نظام کے چول کا مقام جاننا چاہتے ہیں، یعنی چول کو کس نقطہ $\bar{x}$ پر رکھنے سے نظام کا قوت مروڑ صفر ہو گا۔

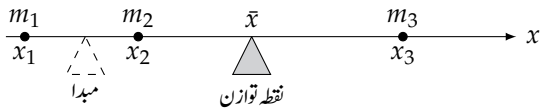

اس مخصوص مقام پر چول رکھنے سے ہر کمیت کا قوت مروڑ درج ذیل لکھا جا سکتا ہے جہاں فاصلہ مثبت یا منفی ہو سکتا ہے۔

$$\begin{aligned}\text{m_k کے لحاظ سے $\bar{x}$ کا معیار اثر} &= (\text{نیچے رخ قوت})(\text{m_k سے $\bar{x}$ کا فاصلہ}) \\ &= (x_k - \bar{x}) m_k g\end{aligned}$$

---

[11] torque
[12] systemtorque

۹۱۳۸ ان معیار اثر کے مجموعہ کو صفر کے برابر پر کرنے سے ہمیں ایسی مساوات ملتی ہے جسے ہم $\bar{x}$ کے لئے حل کر سکتے ہیں:

معیار اثر کا مجموعہ صفر ہے	$\sum(x_k - \bar{x})m_k g = 0$
مجموعہ کا قاعدہ مستقل مضرب	$g\sum(x_k - \bar{x})m_k = 0$
g سے تقسیم اور m_k پھیلایا گیا ہے	$\sum(m_k x_k - \bar{x}m_k) = 0$
مجموعہ کا قاعدہ فرق	$\sum m_k x_k - \sum \bar{x}m_k = 0$
مستقل مضرب قاعدہ اور منتقلی	$\sum m_k x_k = \bar{x}\sum m_k$
$\bar{x}$ کے لئے حل	$\bar{x} = \dfrac{\sum m_k x_k}{\sum m_k}$

۹۱۳۹ یہ آخری مساوات کہتی ہے کہ $\bar{x}$ معلوم کرنے کے لئے مبدا کے لحاظ سے نظام کے معیار اثر کو نظام کی کل کمیت سے تقسیم کریں۔

$$\bar{x} = \frac{\sum x_k m_k}{\sum m_k} = \frac{\text{مبدا کے لحاظ سے نظام کا معیار اثر}}{\text{نظام کی کمیت}}$$

۹۱۴۰ نقطہ $\bar{x}$ کو نظام کا **مرکز کمیت**[۱۳] کہتے ہیں۔

۹۱۴۱ **تار اور پتلے سلاخ**

۹۱۴۲ بہت سارے موقعوں پر ہمیں سلاخ یا پتلی پٹی کی کمیت کا مرکز مطلوب ہوتا ہے۔ ایسی صورتوں میں اگر ہم تقسیم کمیت کو استمراری تفاعل کی صورت میں لکھ سکیں
۹۱۴۳ تب ہمارے کلیات میں جمع کے بجائے تکمل ہو گا جیسے نیچے سمجھایا گیا ہے۔

۹۱۴۴ فرض کریں ایک لمبی پٹی $x = a$ تا $x = b$ محور x پر پڑی ہے۔ ہم $[a, b]$ اس پٹی کی خانہ بندی کرتے ہوئے اس کو Δm_k کمیت کے چھوٹے
۹۱۴۵ چھوٹے ٹکڑوں میں تقسیم کرتے ہیں۔ k ویں ٹکڑے کی لمبائی Δx_k ہے اور یہ مبدا سے تقریباً x_k فاصلے پر پایا جاتا ہے۔ اب تین چیزوں کا مشاہدہ کریں۔

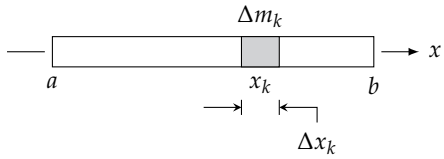

۹۱۴۶

۹۱۴۷ اول، پٹی کا مرکز کمیت $\bar{x}$ اور نقطہ x_k پر کمیت Δm_k رکھنے سے حاصل نظام کا مرکز کمیت تقریباً ایک ہی مقام پر ہوں گے:

$$\bar{x} \approx \frac{\text{نظام کا معیار اثر}}{\text{نظام کی کمیت}}$$

---

[۱۳] centerofmass

۹۱۴۸ دوم، مبدا کے لحاظ سے ہر ٹکڑے کا معیار اثر تخمیناً $x_k \Delta m_k$ ہو گا لہٰذا نظام کا معیار اثر تخمیناً تمام $x_k \Delta m_m$ کا مجموعہ ہو گا:

$$\text{نظام کا معیار اثر} \approx \sum x_k \Delta m_k$$

۹۱۴۹ سوم، اگر x_k پر پٹی کی کثافت $\delta(x_k)$ ہو جہاں δ استمراری ہے (اور کثافت کی پیائش کمیت فی لمبائی ہے) تب Δm_k تخمیناً $\delta(x_k)\Delta x_k$ ہو گا:

$$\Delta m_k \approx \delta(x_k)\Delta x_k$$

۹۱۵۰ ان تینوں مشاہدوں کو ملا کر درج ذیل حاصل ہو گا۔

$$\bar{x} \approx \frac{\text{نظام کا معیار اثر}}{\text{نظام کی کمیت}} \approx \frac{\sum x_k \Delta m_k}{\sum \Delta m_k} \approx \frac{\sum x_k \delta(x_k)\Delta x_k}{\sum \delta(x_k)\Delta x_k} \tag{۲}$$

۹۱۵۱ مساوات ۲ کا آخری شمار کنندہ بند وقفہ $[a, b]$ پر استمراری تفاعل $x\delta(x)$ کا ریمان مجموعہ ہے جبکہ نسب نما اس وقفہ پر تفاعل $\delta(x)$ کا ریمان مجموعہ
۹۱۵۲ ہے۔ ہم توقع کرتے ہیں کہ زیادہ باریک خانہ بندی سے مساوات ۲ میں تخمین بہتر ہوں گے لہٰذا ہم درج ذیل لکھ سکتے ہیں۔

$$\bar{x} = \frac{\int_a^b x\delta(x)\,\mathrm{d}x}{\int_a^b \delta(x)\,\mathrm{d}x}$$

۹۱۵۳ ہم $\bar{x}$ کو درج بالا کلیہ سے معلوم کرتے ہیں۔

۹۱۵۴ **محور x پر کثافتی تفاعل $\delta(x)$ کے سلاخ یا پٹی کا معیار اثر، کمیت اور مرکز کمیت۔**
۹۱۵۵

$$\begin{aligned} M_0 &= \int_a^b x\delta(x)\,\mathrm{d}x && \text{مبدا کے لحاظ سے معیار اثر} \\ M &= \int_a^b \delta(x)\,\mathrm{d}x && \text{کمیت} \\ \bar{x} &= \frac{M_0}{M} && \text{مرکز کمیت} \end{aligned} \tag{۳}$$

۹۱۵۶ مساوات ۳ کے حصول میں کثافت کی بات کی گئی۔ عام طور کثافت سے مراد کمیت فی اکائی حجم ہوتا ہے البتہ بعض اوقات ہم وہ اکائیاں استعمال کرتے ہیں جن کی
۹۱۵۷ پیائش نسبتاً زیادہ آسان ہو۔ یوں تار، سلاخ اور پٹی کے لئے ہم کمیت فی اکائی لمبائی کو کثافت کہتے ہیں جبکہ مستوی سطحوں کے لئے کمیت فی اکائی رقبہ کو کثافت
۹۱۵۸ کہتے ہیں۔

۹۱۵۹ مثال ۶.۲۴: مستقل کثافت کا سلاخ یا پٹی
۹۱۶۰ مستقل کثافت والے سلاخ یا پٹی کا مرکز کمیت تلاش کریں۔

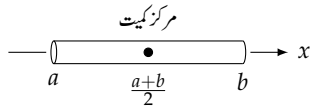

شکل ۶.۹۸: مستقل کثافت کے پتلے سیدھے سلاخ کا مرکز کمیت دونوں سروں کے وسطی نقطہ پر ہو گا۔

شکل ۶.۹۹: متغیر موٹائی کے سیدھے سلاخ کو متغیر کثافت کا سیدھا سلاخ تصور کیا جا سکتا ہے۔

۹۱۶۱ حل: ہم محور x پر $x = a$ سے $x = b$ کو سلاخ تصور کرتے ہیں (شکل ۶.۹۸)۔ چونکہ کثافت مستقل ہے لہٰذا اس کو تکمل کے باہر منتقل کیا جا
۹۱۶۲ سکتا ہے۔ یوں درج ذیل حاصل ہوتا ہے۔

$$M_0 = \int_a^b \delta x \,\mathrm{d}x = \delta \int_a^b x \,\mathrm{d}x = \delta[\frac{x^2}{2}]_a^b = \frac{\delta}{2}(b^2 - a^2)$$
$$M = \int_a^b \delta \,\mathrm{d}x = \delta \int_a^b \mathrm{d}x = \delta[x]_a^b = \delta(b-a)$$
$$\bar{x} = \frac{M_0}{M} = \frac{\frac{\delta}{2}(b^2-a^2)}{\delta(b-a)} = \frac{b+a}{2}$$

۹۱۶۳ مستقل کثافت کی صورت میں مرکز کمیت سلاخ یا پٹی کے عین وسطی نقطہ پر ہو گا۔ □

۹۱۶۴ مثال ۶.۲۵: متغیر کثافت
۹۱۶۵ ایک سلاخ جس کی لمبائی $10\,\mathrm{m}$ ہے بائیں سے دائیں چلتے ہوئے موٹا ہوتا ہے (شکل ۶.۹۹) لہٰذا اس کی کثافت مستقل ہونے کے بجائے
۹۱۶۶ $\delta(x) = 1 + \frac{x}{10}\,\mathrm{kg\,m^{-1}}$ ہے۔ سلاخ کا مرکز کمیت معلوم کریں۔

۹۱۶۷ حل: ہم مساوات ۱۳ استعمال کریں گے۔ مبدا کے لحاظ سے سلاخ کا معیار اثر درج ذیل ہو گا۔

$$M_0 = \int_0^{10} x\delta(x)\,\mathrm{d}x = \int_0^{10} x\left(1+\frac{x}{10}\right)\mathrm{d}x = \int_0^{10}\left(x+\frac{x^2}{10}\right)\mathrm{d}x$$
$$= \left[\frac{x^2}{2}+\frac{x^3}{30}\right]_0^{10} = 50 + \frac{100}{3} = \frac{250}{3}\,\mathrm{kg\,m}$$

۹۱۶۸ آپ نے دیکھا کہ معیار اثر کی اکائی $\mathrm{kg\,m}$ ہے۔ سلاخ کی کمیت درج ذیل ہو گی۔

$$M = \int_0^{10} \delta(x)\,\mathrm{d}x = \int_0^{10}\left(1+\frac{x}{10}\right)\mathrm{d}x = \left[x+\frac{x^2}{20}\right]_0^{10} 10 + 5 = 15\,\mathrm{kg}$$

۹۱۶۹ مرکز کمیت درج ذیل ہو گا۔

$$\bar{x} = \frac{M_0}{M} = \frac{250}{3}\cdot\frac{1}{15} = \frac{50}{9} \approx 5.56\,\mathrm{m}$$

۹۱۷۰ □

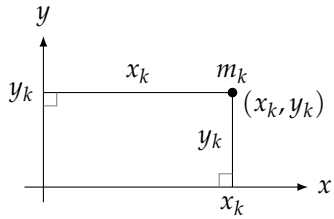

شکل ۶.۱۰۰: ہر کمیت m_k کا ہر انفرادی محور کے لحاظ سے معیار اثر ہو گا۔

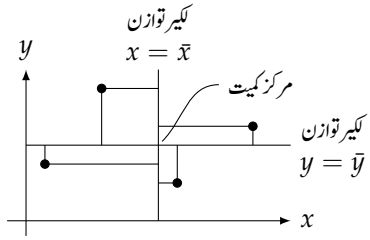

شکل ۶.۱۰۱: دو بعدی کمیتوں کا جھرمٹ اپنے مرکز کمیت پر متوازن ہو گا۔

مستوی پر تقسیم کمیت

فرض کریں ایک مستوی میں متناہی تعداد میں کمیت پائے جاتے ہیں۔ یوں نقطہ (x_k, y_k) پر کمیت m_k ہو گا (شکل ۶.۱۰۰)۔ اس نظام کی کمیت درج ذیل ہو گی۔

$$M = \sum m_k \qquad \text{نظام کی کمیت}$$

ہر کمیت m_k کا دونوں محور کے لحاظ سے معیار اثر ہو گا۔ محور x کے لحاظ سے اس کا معیار اثر $m_k y_k$ ہو گا جبکہ محور y کے لحاظ سے اس کا معیار اثر $m_k x_k$ ہو گا۔ دونوں محور کے لحاظ سے پورے نظام کا معیار اثر درج ذیل ہو گا۔

$$M_x = \sum m_k y_k \qquad \text{محور } x \text{ کے لحاظ سے معیار اثر}$$
$$M_y = \sum m_k x_k \qquad \text{محور } y \text{ کے لحاظ سے معیار اثر}$$

نظام کے مرکز کمیت کا x محدد درج ذیل ہو گا۔

$$\bar{x} = \frac{M_y}{M} = \frac{\sum m_k x_k}{\sum m_k} \tag{۴}$$

یک بعدی صورت کی طرح $\bar{x}$ کی اس قیمت کے لئے نظام لکیر $x = \bar{x}$ پر توازن میں ہو گا (شکل ۶.۱۰۱)۔

نظام کے مرکز کمیت کا y محدد درج ذیل ہو گا۔

$$\bar{y} = \frac{M_x}{M} = \frac{\sum m_k y_k}{\sum m_k} \tag{۵}$$

یک بعدی صورت کی طرح $\bar{y}$ کی اس قیمت کے لئے نظام لکیر $y = \bar{y}$ پر توازن میں ہو گا۔ لکیر $y = \bar{y}$ کے لحاظ سے تمام قوت مروڑ ایک دوسرے کو منسوخ کر کے صفر قوت مروڑ پیدا کرتے ہیں۔ توازن کے اعتبار سے یوں معلوم ہوتا ہے کہ اس نظام کی پوری کمیت نقطہ $(\bar{x}, \bar{y})$ میں پائی جاتی ہے۔ اس نقطہ کو نظام کی **کمیت کا مرکز**[۱۴] کہتے ہیں۔

---

[۱۴] centerofmass

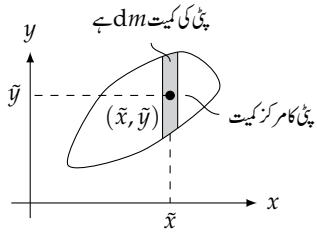

شکل ۶.۱۰۲: چادر کو انتصابی پتلی پٹیوں میں تقسیم کیا گیا ہے۔ نمائندہ پٹی کا کسی ایک انفرادی محور کے لحاظ سے معیار اثر وہی ہو گا جو پٹی کی کمیت $\mathrm{d}m$ کو پٹی کی مرکز کمیت پر منجمد کرنے سے حاصل ہو گا۔

۹۱۸۲ پتلی مستوی چادر

۹۱۸۳ کئی بار ہمیں پتلی مستوی چادر کا مرکز کمیت درکار ہوتا ہے۔ ایسی صورت میں ہم فرض کرتے ہیں کہ کمیت کی تقسیم استمراری ہے لہٰذا $\bar{x}$ اور $\bar{y}$ کے کلیات میں
۹۱۸۴ متناہی مجموعوں کے بجائے تکمل پائے جاتے ہیں۔ آئیں اس پر غور کرتے ہیں۔ فرض کریں xy مستوی میں ایک پتلی چادر پائی جاتی ہے۔ چادر کو کسی ایک محور
۹۱۸۵ کے متوازی باریک پٹیوں میں تقسیم کریں (شکل ۶.۱۰۲ میں پٹیاں محور y کے متوازی ہیں)۔ کسی ایک نمائندہ پٹی کی کمیت کا مرکز $(\tilde{x}, \tilde{y})$ ہو گا۔ ہم پٹی
۹۱۸۶ کی کمیت Δm کو نقطہ $(\tilde{x}, \tilde{y})$ پر منجمد تصور کرتے ہیں۔ یوں محور y کے لحاظ سے پٹی کا معیار اثر $\tilde{x}\Delta m$ ہو گا جبکہ محور x کے لحاظ سے پٹی کا معیار اثر
۹۱۸۷ $\tilde{y}\Delta m$ ہو گا۔ اس طرح مساوات ۴ اور مساوات ۵ درج ذیل صورت اختیار کرتے ہیں۔

$$\bar{x} = \frac{M_y}{M} = \frac{\sum \tilde{x}\Delta m}{\sum \Delta m}, \quad \bar{y} = \frac{M_x}{M} = \frac{\sum \tilde{y}\Delta m}{\sum \Delta m}$$

۹۱۸۸ یک بعدی صورت کی طرح یہاں بھی ریمان مجموعے پائے جاتے ہیں جن کی قیمتیں، پٹی کی چوڑائی کم سے کم کرنے سے قطعی تکملات کی قیمتیں ہوں گی۔ ان
۹۱۸۹ تکملات کو علامت طور پر درج ذیل لکھا جاتا ہے۔

$$\bar{x} = \frac{\int \tilde{x}\,\mathrm{d}m}{\int \mathrm{d}m}, \quad \bar{y} = \frac{\int \tilde{y}\,\mathrm{d}m}{\int \mathrm{d}m}$$

۹۱۹۰ **مستوی میں باریک چادر کے معیار اثر، کمیت اور مرکز کمیت۔**

$$\begin{aligned}
M_x &= \int \tilde{y}\,\mathrm{d}m && \text{محور } x \text{ کے لحاظ سے معیار اثر} \\
M_y &= \int \tilde{x}\,\mathrm{d}m && \text{محور } y \text{ کے لحاظ سے معیار اثر} \\
M &= \int \mathrm{d}m && \text{کمیت} \\
\bar{x} &= \frac{M_y}{M}, \quad \bar{y} = \frac{M_x}{M} && \text{مرکز کمیت}
\end{aligned} \tag{۶}$$

ان تکملات کی حصول کے لئے ہم چادر کو محددی مستوی میں رکھ کر کسی ایک محدد کے متوازی ایک نمائندہ پٹی کا خاکہ بناتے ہیں۔ اس پٹی کی کمیت اور مرکز کمیت کے محدد $(\tilde{x}, \tilde{y})$ کو x اور y کی صورت میں لکھا جاتا ہے۔ اس کے بعد محددی مستوی میں چادر کے مقام کے اعتبار سے موزوں حدود کے بیچ $\tilde{y}\,\mathrm{d}m$ ، $\tilde{x}\,\mathrm{d}m$ اور $\mathrm{d}m$ کے تکملات لیتے ہیں۔

مثال ۶.۲۶: ایک تکونی چادر جس کو شکل ۶.۱۰۳-ا میں دکھایا گیا ہے کی مستقل کثافت $\delta = 3\,\mathrm{g\,cm^{-3}}$ ہے۔ (ا) محور y کے لحاظ سے چادر کا معیار اثر M_y معلوم کریں۔ (ب) چادر کی کمیت M معلوم کریں۔ (ج) چادر کی کمیت کے مرکز کا $\tilde{x}$ محدد معلوم کریں۔

حل: **پہلی ترکیب:** انتصابی پٹیاں (شکل ۶.۱۰۳-ب)

(ا) نمائندہ پٹی کے لئے درج ذیل لکھا جا سکتا ہے۔

مرکز کمیت: $(\tilde{x}, \tilde{y}) = (x, y)$

چوڑائی: $\mathrm{d}x$

لمبائی: $2x$

کمیت: $\mathrm{d}m = \delta\,\mathrm{d}A = 3 \cdot 2x\,\mathrm{d}x = 6x\,\mathrm{d}x$

رقبہ: $\mathrm{d}S = 2x\,\mathrm{d}x$

مرکز کمیت کا محور y سے فاصلہ: $\tilde{x} = x$

یوں محور y کے لحاظ سے پٹی کا معیار اثر

$$\tilde{x}\,\mathrm{d}m = x \cdot 6x\,\mathrm{d}x = 6x^2\,\mathrm{d}x$$

ہو گا لہٰذا پوری چادر کا محور y کے لحاظ سے معیار اثر درج ذیل ہو گا۔

$$M_y = \int \tilde{x}\,\mathrm{d}m = \int_0^1 6x^2\,\mathrm{d}x = 2x^3\Big]_0^1 = 2\,\mathrm{g\,cm}$$

(ب) چادر کی کمیت درج ذیل ہو گی۔

$$M = \int \mathrm{d}m = \int_0^1 6x\,\mathrm{d}x = 3x^2\Big]_0^1 = 3\,\mathrm{g}$$

(ج) چادر کے مرکز کمیت کا x محدد درج ذیل ہو گا۔

$$\bar{x} = \frac{M_y}{M} = \frac{2\,\mathrm{g\,cm}}{3\,\mathrm{g}} = \frac{2}{3}, \mathrm{cm}$$

دوسری ترکیب: افقی پٹیاں (شکل ۶.۱۰۳-ج)

(ا) نمائندہ انتصابی پٹی کے مرکز کمیت کا y محدد y ہو گا:

$$\tilde{y} = y$$

پٹی کے دائیں اور بائیں سروں کے وسط میں x محدد پایا جائے گا:

$$\tilde{x} = \frac{\frac{y}{2} + 1}{2} = \frac{y}{4} + \frac{1}{2} = \frac{y+2}{4}$$

اس کے علاوہ درج ذیل بھی لکھا جا سکتا ہے۔

۹۲۱۳ لمبائی: $1 - \frac{y}{2} = \frac{2-y}{2}$

۹۲۱۴ چوڑائی: $\mathrm{d}y$

۹۲۱۵ رقبہ: $\mathrm{d}S = \frac{2-y}{2}\,\mathrm{d}y$

۹۲۱۶ کمیت: $\mathrm{d}m = \delta\,\mathrm{d}S = 3 \cdot \frac{2-y}{2}\,\mathrm{d}y$

۹۲۱۷ مرکز کمیت کا محور y سے فاصلہ: $\tilde{x} = \frac{y+2}{4}$

۹۲۱۸ یوں محور y کے لحاظ سے پٹی کا معیار اثر

$$\tilde{x}\,\mathrm{d}m = \frac{y+2}{4} \cdot 3 \cdot \frac{2-y}{2}\,\mathrm{d}y = \frac{3}{8}(4-y^2)\,\mathrm{d}y$$

۹۲۱۹ ہو گا اور محور y کے لحاظ سے چادر کا معیار اثر درج ذیل ہو گا۔

$$M_y = \int \tilde{x}\,\mathrm{d}m = \int_0^2 \frac{3}{8}(4-y^2)\,\mathrm{d}y = \frac{3}{8}\left[4y - \frac{y^3}{3}\right]_0^2 = \frac{3}{8}\left(\frac{16}{3}\right) = 2\,\mathrm{g\,cm}$$

۹۲۲۰ (ب) چادر کی کمیت درج ذیل ہو گی۔

$$M = \int \mathrm{d}m = \int_0^2 \frac{3}{2}(2-y)\,\mathrm{d}y = \frac{3}{2}\left[2y - \frac{y^2}{2}\right]_0^2 = \frac{3}{2}(4-2) = 3\,\mathrm{g}$$

۹۲۲۱ (ج) چادر کی مرکز کمیت کا x محدد درج ذیل ہو گا۔

$$\bar{x} = \frac{M_y}{M} = \frac{2\,\mathrm{g\,cm}}{3\,\mathrm{g}} = \frac{2}{3}\,\mathrm{cm}$$

۹۲۲۲ ہم اسی طرح M_x اور $\bar{y}$ بھی تلاش کر سکتے ہیں۔ □

۹۲۲۳ اگر پتلی چادر میں کمیت کی تقسیم تشاکلی ہو تب کمیت کا مرکز محور تشاکل پر پایا جائے گا۔ اگر تشاکل کے دو محور پائے جاتے ہوں تب مرکز کمیت دونوں محور کے نقطہ
۹۲۲۴ تقاطع پر پایا جائے گا۔ یہ دو حقائق عموماً مددگار ثابت ہوتے ہیں۔

۹۲۲۵ مثال ۶.۲۷: مستقل کثافت ایک پتلا مستوی خطہ جس کی کثافت مستقل δ ہے کو بالائی طرف سے قطع مکافی $y = 4 - x^2$ اور زیریں طرف سے
۹۲۲۶ محور x گھیرتا ہے (شکل ۶.۱۰۴)۔ اس خطے کا مرکز کمیت تلاش کریں۔

۹۲۲۷ حل: چونکہ خطے کی کثافت مستقل ہے اور تقسیم کمیت محور y کے لحاظ سے تشاکلی ہے لہٰذا مرکز کمیت محور y پر پایا جائے گا۔ یوں $\bar{x} = 0$ ہو گا۔ ہمیں
۹۲۲۸ صرف $\bar{y} = \frac{M_x}{M}$ معلوم کرنا ہے۔

۹۲۲۹ افقی پٹیاں لینے سے درج ذیل مشکل تکمل پیدا ہوتا ہے

$$M_x = \int_0^4 2\delta y\sqrt{4-y}\,\mathrm{d}y$$

۹۲۳۰ لہٰذا ہم انتصابی پٹیاں لے کر آگے بڑھتے ہیں۔ نمائندہ انتصابی پٹی کے لئے درج ذیل لکھا جا سکتا ہے۔

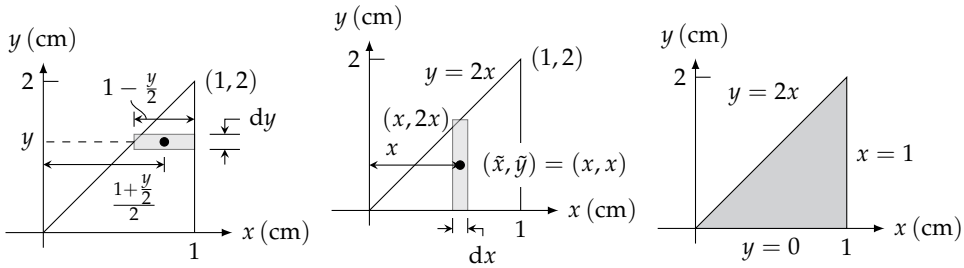

(ا) تکونی چادر۔ (ب) انتصابی پٹیاں۔ (ج) افقی پٹیاں۔

شکل ۶.۱۰۳: چادر برائے مثال ۶.۲۶

۹۳۳۱ مرکز کمیت: $(\tilde{x}, \tilde{y}) = \left(x, \frac{4-x^2}{2}\right)$

۹۳۳۲ لمبائی: $4 - x^2$

۹۳۳۳ چوڑائی: $\mathrm{d}x$

۹۳۳۴ رقبہ: $\mathrm{d}S = (4 - x^2)\,\mathrm{d}x$

۹۳۳۵ کمیت: $\mathrm{d}m = \delta\,\mathrm{d}S = \delta(4 - x^2)\,\mathrm{d}x$

۹۳۳۶ مرکز کمیت کا محور x سے فاصلہ: $\tilde{y} = \frac{4-x^2}{2}$

۹۳۳۷ محور x کے لحاظ سے پٹی کا معیار اثر

$$\tilde{y}\,\mathrm{d}m = \frac{4 - x^2}{2} \cdot \delta(4 - x^2)\,\mathrm{d}x = \frac{\delta}{2}(4 - x^2)^2\,\mathrm{d}x$$

۹۳۳۸ ہو گا لہٰذا محور y کے لحاظ سے چادر کا معیار اثر درج ذیل ہو گا۔

$$M_x = \int \tilde{y}\,\mathrm{d}m = \int_{-2}^{2} \frac{\delta}{2}(4 - x^2)\,\mathrm{d}x \tag{۷}$$

$$= \frac{\delta}{2}\int_{-2}^{2}(16 - 8x^2 + x^4)\,\mathrm{d}x = \frac{256}{15}\delta \tag{۸}$$

۹۳۳۹ چادر کی کمیت درج ذیل ہو گی۔

$$M = \int \mathrm{d}m = \int_{-2}^{2} \delta(4 - x^2)\,\mathrm{d}x = \frac{32}{3}\delta \tag{۹}$$

۹۳۴۰ یوں درج ذیل ہو گا۔

$$\bar{y} = \frac{M_x}{M} = \frac{\frac{256}{15}\delta}{\frac{32}{3}\delta} = \frac{8}{5}$$

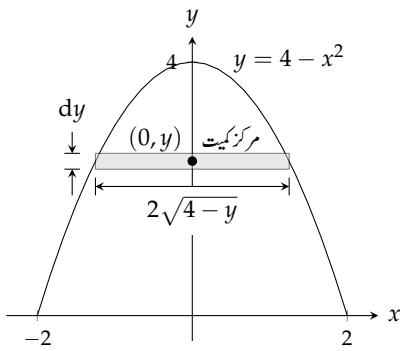

(ا) افقی پٹیوں سے حاصل تکمل مشکل ثابت ہوتا ہے۔

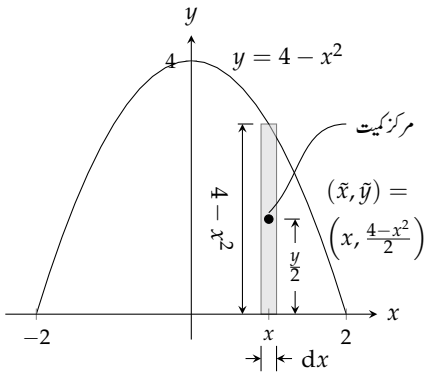

(ب) انتصابی پٹیاں۔

شکل ۶.۱۰۴: چادر برائے مثال ۶.۲۷

۹۲۴۱ چادر کی کمیت کا مرکز درج ذیل نقطہ ہو گا۔

$$(\bar{x}, \bar{y}) = \left(0, \frac{8}{5}\right)$$

۹۲۴۲ □

۹۲۴۳ مثال ۶.۲۸: متغیر کثافت نقطہ (x, y) پر مثال ۶.۲۷ کی چادر کی کثافت $\delta = 2x^2$ لیتے ہوئے چادر کی کمیت کا مرکز تلاش کریں۔

۹۲۴۴ حل: کمیت اب بھی محور y کے لحاظ سے تشاکلی ہے لہٰذا $\bar{x} = 0$ ہو گا۔ یوں $\delta = 2x^2$ کے لئے مساوات ۷ اور مساوات ۹ درج ذیل صورت
۹۲۴۵ اختیار کریں گے۔

$$\begin{aligned}
M_x &= \int \tilde{y}\,\mathrm{d}m = \int_{-2}^{2} \frac{\delta}{2}(4-x^2)^2\,\mathrm{d}x = \int_{-2}^{2} x^2(4-x^2)^2\,\mathrm{d}x \\
&= \int_{-2}^{2} (16x^2 - 8x^4 + x^6)\,\mathrm{d}x = \frac{2048}{105} \\
M &= \int \mathrm{d}m = \int_{-2}^{2} \delta(4-x^2)\,\mathrm{d}x = \int_{-2}^{2} 2x^2(4-x^2)\,\mathrm{d}x \\
&= \int_{-2}^{2} (8x^2 - 2x^4)\,\mathrm{d}x = \frac{256}{15}
\end{aligned}$$

۹۲۴۶ یوں درج ذیل ہو گا۔

$$\bar{y} = \frac{M_x}{M} = \frac{2048}{105} \cdot \frac{15}{256} = \frac{8}{7}$$

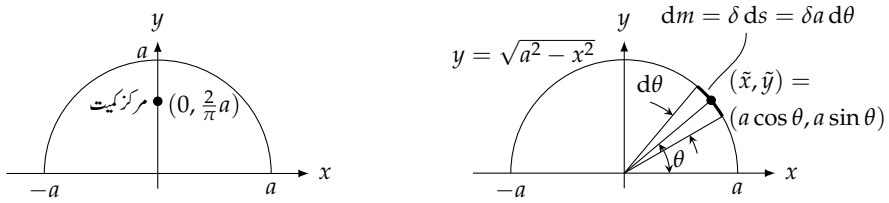

(ا) مرکز کمیت کے حصول میں مستعمل متغیرات۔ (ب) مرکز کمیت تار پر نہیں پایا جاتا ہے۔

شکل ۶.۱۰۵: نصف دائری تار (مثال ۶.۲۹)

۹۳۴۷ چادر کی کمیت کا نیا مرکز درج ذیل ہو گا۔

$$(\bar{x}, \bar{y}) = \left(0, \frac{8}{7}\right)$$

۹۳۴۸ □

۹۳۴۹ مثال ۶.۲۹: ایک تار جس کی کثافت δ مستقل ہے سے رداس a کا نصف دائرہ بنایا جاتا ہے۔ اس کی کمیت کا مرکز تلاش کریں۔

۹۳۵۰ حل: ہم نصف دائرے کو تفاعل $y = \sqrt{a^2 - x^2}$ سے ظاہر کرتے ہیں (شکل ۶.۱۰۵)۔ کمیت کی تقسیم محور y کے لحاظ سے تشاکلی ہے لہٰذا
۹۳۵۱ $\bar{x} = 0$ ہو گا۔ ہم تصور میں تار کو چھوٹے قطعات میں تقسیم کر کے $\bar{y}$ تلاش کرتے ہیں۔ نمائندہ قطعہ کے لئے درج ذیل ہو گا۔

۹۳۵۲ لمبائی: $\mathrm{d}s = a\,\mathrm{d}\theta$ ۹۳۵۴ مرکز کمیت کا محور x سے فاصلہ: $\tilde{y} = a\sin\theta$

۹۳۵۳ کمیت: $\mathrm{d}m = \delta\,\mathrm{d}s = \delta a\,\mathrm{d}\theta$

۹۳۵۵ یوں درج ذیل ہو گا۔

$$\bar{y} = \frac{\int \tilde{y}\,\mathrm{d}m}{\int \mathrm{d}m} = \frac{\int_0^\pi a\sin\theta \cdot \delta a\,\mathrm{d}\theta}{\int_0^\pi \delta a\,\mathrm{d}\theta} = \frac{\delta a^2[-\cos\theta]_0^\pi}{\delta a\pi} = \frac{2}{\pi}a$$

۹۳۵۶ مرکز کمیت $(0, 2a/\pi)$ ہو گا جو مبدا سے تقریباً $\frac{2}{3}$ اوپر ہے۔ □

۹۳۵۷ وسطانی مرکز

۹۳۵۸ مستقل کثافت کی صورت میں $\bar{x}$ اور $\bar{y}$ کی کلیات میں نسب نما اور شمار کنندہ میں پائے جانے والے δ ایک دوسرے کو منسوخ کرتے ہیں۔ یوں $\bar{x}$ اور $\bar{y}$
۹۳۵۹ کی نقطہ نظر سے δ کو شروع سے اکائی تصور کیا جا سکتا ہے۔ مستقل کثافت کی صورت میں کسی چیز کی کمیت کا مرکز اس چیز کی شکل و صورت پر منحصر ہو گا نا کہ اس

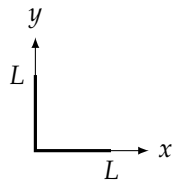

شکل ۶.۱۰۶: لوہے کا فریم برائے سوال ۶.۲۳۰

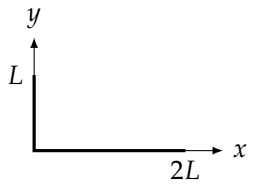

شکل ۶.۱۰۷: فریم برائے سوال ۶.۲۳۱

مادے پر جس سے یہ چیز بنی ہو۔ ایسی صورت میں مرکز کمیت کو عموماً **وسطانی مرکز**[۱۵] کہتے ہیں۔ یوں اگر آپ سے کہا جائے کہ تکون، مخروط یا کرہ کا وسطانی مرکز تلاش کریں۔ آپ $\bar{x}$ اور $\bar{y}$ کو معیار اثر تقسیم کمیت سے معلوم کرتے ہوئے $\delta = 1$ لیں۔

سوالات

پتلے سلاخ

سوال ۶.۲۲۸: ایک بچہ جس کی کمیت $40\,\text{kg}$ اور دوسرا بچہ جس کی کمیت $50\,\text{kg}$ ہے ہنڈولا پر جھول رہے ہیں۔ اگر $40\,\text{kg}$ بچہ چول سے $2\,\text{m}$ فاصلے پر ہو تب ہنڈولا کو متوازن رکھنے کی خاطر دوسرا بچہ چول سے دوسری جانب کتنے فاصلے پر ہو گا؟

سوال ۶.۲۲۹: ایک شہتیر کے سروں کو دو ترازوؤں پر رکھا جاتا ہے جو $100\,\text{kg}$ اور $20\,\text{kg}$ کی پیمائش دیتے ہیں۔ شہتیر کی کمیت کا مرکز کہاں ہو گا؟

سوال ۶.۲۳۰: لوہے کی ایک پتلی سلاخ کو وسط سے 90° زاویہ پر موڑ پر فریم بنایا جاتا ہے (شکل ۶.۱۰۶)۔ فریم کی کمیت کا مرکز تلاش کریں۔ (اشارہ۔ انفرادی حصے کا مرکز کمیت کہاں ہو گا؟)

سوال ۶.۲۳۱: لوہے کی ایک پتلی سلاخ کو 90° پر موڑ کر فریم بنایا جاتا ہے جہاں ایک بازو کی لمبائی دوسرے بازو کی لمبائی سے دگنی ہے (شکل ۶.۱۰۷)۔ فریم کی کمیت کا مرکز تلاش کریں۔ (اشارہ۔ انفرادی بازوؤں کی کمیت کے مراکز کہاں ہوں گے؟)

سوال ۶.۲۳۲ تا سوال ۶.۲۳۹ میں محور x کے مختلف وقفوں پر پڑی ہوئی پتلی سلاخ کی کثافتی تفاعل دیے گئے ہیں۔ مساوات ۱۳ استعمال کرتے ہوئے مبدا کے لحاظ سے سلاخ کا معیار اثر، کمیت اور مرکز کمیت تلاش کریں۔

سوال ۶.۲۳۲: $\delta(x) = 4, \quad 0 \le x \le 2$

سوال ۶.۲۳۳: $\delta(x) = 4, \quad 1 \le x \le 3$

سوال ۶.۲۳۴: $\delta(x) = 1 + \frac{x}{3}, \quad 0 \le x \le 3$

سوال ۶.۲۳۵: $\delta(x) = 2 - \frac{x}{4}, \quad 0 \le x \le 4$

سوال ۶.۲۳۶: $\delta(x) = 1 + \frac{1}{\sqrt{x}}, \quad 1 \le x \le 4$

سوال ۶.۲۳۷: $\delta(x) = 3(x^{-3/2} + x^{-5/2}), \quad 0.25 \le x \le 1$

---

[۱۵] centroid

سوال ۶.۲۳۸: $$\delta(x) = \begin{cases} 2-x, & 0 \le x \le 1 \\ x, & 1 \le x \le 2 \end{cases}$$

سوال ۶.۲۳۹: $$\delta(x) = \begin{cases} x+1, & 0 \le x \le 1 \\ 2, & 1 \le x \le 2 \end{cases}$$

مستقل کثافت والے پتلی چادریں

سوال ۶.۲۴۰ تا سوال ۶.۲۵۱ میں وہ خطہ دیا گیا ہے جہاں مستقل کثافت δ والی پتلی چادر پائی جاتی ہے۔ چادر کی کمیت کا مرکز تلاش کریں۔

سوال ۶.۲۴۰: قطع مکافی $y = x^2$ اور لکیر $y = 4$ میں محیط خطہ۔

سوال ۶.۲۴۱: قطع مکافی $y = 25 - x^2$ اور محور x میں محیط خطہ۔

سوال ۶.۲۴۲: قطع مکافی $y = x - x^2$ اور لکیر $y = -x$ میں محیط خطہ۔

سوال ۶.۲۴۳: قطع مکافی $y = x^2 - 3$ اور $y = -2x^2$ میں محیط خطہ۔

سوال ۶.۲۴۴: محور y اور قطع مکافی $x = y - y^3,\ 0 \le y \le 1$ کے بیچ خطہ۔

سوال ۶.۲۴۵: قطع مکافی $x = y^2 - y$ اور لکیر $y = x$ میں محیط خطہ۔

سوال ۶.۲۴۶: محور x اور منحنی $y = \cos x,\ -\frac{\pi}{2} \le x \le \frac{\pi}{2}$ کے بیچ خطہ۔

سوال ۶.۲۴۷: محور x اور منحنی $y = \sec^2 x,\ -\frac{\pi}{4} \le x \le \frac{\pi}{4}$ کے بیچ خطہ۔

سوال ۶.۲۴۸: قطع مکافی $y = 2x^2 - 4x$ اور $y = 2x - x^2$ میں محیط خطہ۔

سوال ۶.۲۴۹: (ا) ربع اول میں دائرہ $x^2 + y^2 = 9$ کے اندر خطہ۔ (ب) محور x اور نصف دائرہ $y = \sqrt{9 - x^2}$ کے بیچ خطہ۔ جزو-ا کے نتیجہ کے ساتھ جواب کا موازنہ کریں۔

سوال ۶.۲۵۰: (ا) ربع اول میں لکیر $x = 3$، لکیر $y = 3$ اور دائرہ $x^2 + y^2 = 9$ کے بیچ تکونی خطہ۔ (اشارہ۔ رقبے کو جیومیٹری کی مدد سے حاصل کریں۔)

سوال ۶.۲۵۱: وہ خطہ جس کا بالائی سرحد $y = \frac{1}{x^3}$، زیریں سرحد $y = -\frac{1}{x^3}$، بایاں سرحد $x = 1$ اور دایاں سرحد $x = a > 1$ ہوں۔ اس کے علاوہ $\bar{x}$ $\lim_{a\to\infty}$ بھی معلوم کریں۔

متغیر کثافت والے پتلی چادریں

سوال ۶.۲۵۲: محور x اور منحنی $y = \frac{2}{x^2},\ 1 \le x \le 2$ کے بیچ چادر جس کی نقطہ (x, y) پر کثافت $\delta(x) = x^2$ ہے کا مرکز کمیت تلاش کریں۔

سوال ۶.۲۵۳: لکیر $y = x$ سے نیچے اور قطع مکافی $y = x^2$ سے اوپر پتلی چادر جس کی نقطہ (x, y) پر کثافت $\delta(x) = 12x$ ہے کا مرکز کمیت تلاش کریں۔

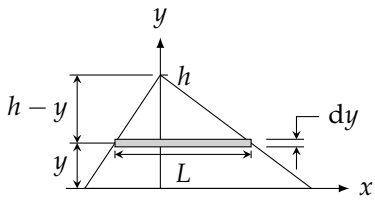

(ب) مرکز کمیت معلوم کرنے میں مستعمل متغیرات۔

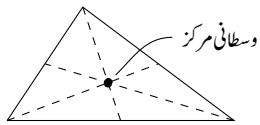

(ا) تکون کا وسطانی مرکز۔

شکل ۶.۱۰۸: تکون برائے سوال ۶.۲۵۶

سوال ۶.۲۵۴: لکیر $x = 1$، لکیر $x = 4$ اور منحنی $y = \mp\frac{4}{\sqrt{x}}$ کے بیچ چادر کو محور y کے گرد گھما کر ٹھوس جسم طواف پیدا کیا جاتا ہے۔ (ا) اس ٹھوس جسم کا حجم تلاش کریں۔ (ب) اگر نقطہ (x, y) پر چادر کی کثافت $\delta(x) = \frac{1}{x}$ ہو تب چادر کی کمیت کتنی ہو گی؟ (ج) چادر کا خاکہ بنا کر اس پر چادر کی کمیت کا مرکز دکھائیں۔

سوال ۶.۲۵۵: منحنی $y = \frac{2}{x}$ اور محور x پر $x = 1$ تا $x = 4$ کے بیچ چادر کو محور x کے گرد گھما کر ٹھوس جسم طواف پیدا کیا جاتا ہے۔ (ا) اس ٹھوس جسم کا حجم تلاش کریں۔ (ب) اگر نقطہ (x, y) پر چادر کی کثافت $\delta(x) = \sqrt{x}$ ہو تب چادر کی کمیت کتنی ہو گی؟ (ج) چادر کا خاکہ بنا کر اس پر چادر کی کمیت کا مرکز دکھائیں۔

تکون کے وسطانی مراکز

سوال ۶.۲۵۶: تکون کے تین وسطانیوں کا نقطہ تقاطع تکون کا وسطانی مرکز ہو گا۔

تکون کے راس کے مخالف ضلع کے وسط تک قطعہ کو وسطانیہ کہتے ہیں۔ آپ کو یاد ہو گا کہ ضلع سے $\frac{1}{3}$ فاصلہ پر وسطانیے ایک دوسرے کو قطع کرتے ہیں (شکل ۶.۱۰۸)۔ دکھائیں کہ تکون کا وسطانی مرکز بھی اسی نقطہ پر پایا جاتا ہے۔ ایسا کرنے کی خاطر درج ذیل اقدام کریں۔

ا. تکون کے کسی ایک ضلع کو محور x پر رکھ کر اس میں نمائندہ افقی پٹی L لیں۔ کمیت $\mathrm{d}m$ کو L اور $\mathrm{d}y$ کی صورت میں لکھیں۔

ب. تشابہ مثلثات کی مدد سے $L = \frac{b}{h}(h - y)$ لکھ کر $\mathrm{d}m$ کے کلیہ میں ڈالیں۔

ج. دکھائیں کہ $\bar{y} = \frac{h}{3}$ ہو گا۔

د. اسی دلیل کو باقی دو وسطانیوں پر بھی لاگو کریں۔

سوال ۶.۲۵۷ تا سوال ۶.۲۶۱ مثلث کے راس دیے گئے ہیں۔ سوال ۶.۲۵۶ کا نتیجہ استعمال کر کر مثلث کا وسطانی مرکز دریافت کریں۔

سوال ۶.۲۵۷: $(-1, 0),\ (1, 0),\ (0, 3)$

سوال ۶.۲۵۸: $(0, 0),\ (1, 0),\ (0, 1)$

سوال ۶.۲۵۹: $(0, 0),\ (a, 0),\ (0, a)$

سوال ۶.۲۶۰: $(0, 0),\ (a, 0),\ (0, b)$

سوال ۶.۲۶۱: $(0, 0),\ (a, 0),\ (\frac{a}{2}, b)$

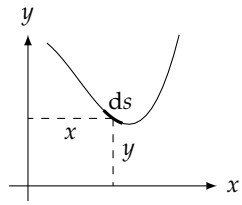

شکل ۶.۱۰۹: برائے سوال ۶.۲۶۶

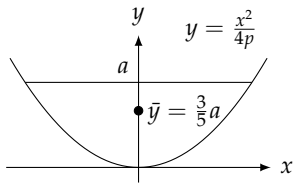

شکل ۶.۱۱۰: برائے سوال ۶.۲۶۷

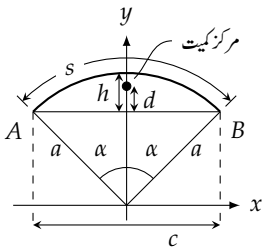

شکل ۶.۱۱۱: برائے سوال ۶.۲۶۸

پتلی تار

سوال ۶.۲۶۲: مستقل کثافت کا ایک تار منحنی $y = \sqrt{x}$ پر $x = 0$ سے $x = 2$ تک پایا جاتا ہے۔ محور x کے لحاظ سے اس تار کا معیار اثر تلاش کریں۔

سوال ۶.۲۶۳: مستقل کثافت کا ایک تار منحنی $y = x^3$ پر $x = 0$ سے $x = 1$ تک پایا جاتا ہے۔ محور x کے لحاظ سے اس تار کا معیار اثر تلاش کریں۔

سوال ۶.۲۶۴: کثافت $\delta = k \sin\theta$ لیتے ہوئے، جہاں k مستقل ہے، مثال ۶.۲۹ کو دوبارہ حل کریں۔

سوال ۶.۲۶۵: کثافت $\delta = 1 + k|\cos\theta|$ لیتے ہوئے، جہاں k مستقل ہے، مثال ۶.۲۹ کو دوبارہ حل کریں۔

کلیات انجینئری

سوال ۶.۲۶۶ تا سوال ۶.۲۶۹ میں دیے گئے فقروں اور کلیات کی تصدیق کریں۔

سوال ۶.۲۶۶: قابل تفرق مستوی منحنی کے وسطانی مراکز کے محدد درج ذیل ہوں گے (شکل ۶.۱۰۹)۔

$$\bar{x} = \frac{\int x\,\mathrm{ds}}{\text{لمبائی}}, \quad \bar{y} = \frac{\int y\,\mathrm{ds}}{\text{لمبائی}}$$

سوال ۶.۲۶۷: قوس $y = \frac{x^2}{4p}$ میں $p > 0$ کی قیمت جو بھی ہو، شکل ۶.۱۱۰ میں دکھائے گئے قطع مکافی خطے کے وسطانی مرکز کا y محدد $\bar{y} = \frac{3}{5}a$ ہوگا۔

سوال ۶.۲۶۸: مستقل کثافت کی باریک تار سے، محور y کے لحاظ سے تشاکلی، دائری قوس بنایا جاتا ہے جس کا مرکز مبدا پر ہے (شکل ۶.۱۱۱)۔ اس کے وسطانی مرکز کا y محدد $\bar{y} = \frac{a\sin\alpha}{\alpha} = \frac{ac}{s}$ ہوگا۔

سوال ۶.۲۶۹: گزشتہ سوال کو جاری رکھا گیا ہے

دکھائیں کہ جب α کی قیمت کم ہو تب وسطانی مرکز سے قطعہ AB تک فاصلہ d تقریباً $\frac{2h}{3}$ ہوگا۔ ایسا درج ذیل اقدام سے ہوگا۔

ا. ا. درج ذیل دکھائیں۔

$$\frac{d}{h} = \frac{\sin\alpha - \alpha\cos\alpha}{\alpha - \alpha\cos\alpha} \tag{۱۰}$$

۲. درج ذیل تفاعل کو

$$f(\alpha) = \frac{\sin\alpha - \alpha\cos\alpha}{\alpha - \alpha\cos\alpha}$$

کمپیوٹر پر ترسیم کر کے بڑا کر کے دکھائیں کہ $\lim_{\alpha\to 0^+} f(\alpha) \approx \frac{2}{3}$ ہو گا۔(حصہ ۷.۶ میں سوال ۷.۴۲۳ میں آپ اس کی تصدیق کر پائیں گے۔)

ب. آپ $\alpha = 0.2, 0.4, 0.6, 0.8, 1$ لے کر مساوات ۰ اکا دایاں ہاتھ حل کر کے دیکھیں کہ 45° سے بڑے زاویوں کے لئے بھی خلل (یعنی d اور $\frac{2}{3}$ میں فرق) بہت کم ہے۔

۶.۸ کام

روزمرہ زندگی میں کام سے مراد وہ عمل ہے جو جسمانی یا ذہنی قوت سے سرانجام دیا جائے۔ سائنس میں کام کی تعریف اس سے مختلف ہے۔ اس حصہ میں کام کی سائنسی تعریف پیش کی جائے گی اور کام کی قیمت کا حصول سکھایا جائے گا۔

مستقل قوت اور کام

جب کوئی جسم جس پر مستقل قوت F عمل کرتی ہو، قوت کی سمت میں سیدھی لکیر پر فاصلہ d حرکت کرے تب ہم (سائنسی طور پر) کہتے ہیں کہ قوت F اس جسم پر کام W کرتی ہے:

$$W = Fd \tag{۱}$$

آپ دیکھ سکتے ہیں کہ سائنس میں لفظ کام کی معنی روزمرہ زندگی میں استعمال معنی سے مختلف ہے۔ اگر آپ کسی گاڑی کو سڑک پر دکھا لگا کر ایک جگہ سے دوسری جگہ منتقل کریں تب آپ کی روزمرہ خیال کے مطابق آپ نے کام کیا اور مساوات ا کے تحت بھی آپ نے کام کیا۔ اس کے برعکس اگر آپ پورا دن گاڑی کو دکھا لگاتے رہیں لیکن گاڑی اپنی جگہ سے حرکت نہ کرے تب اگرچہ آپ کا خیال ہو گا کہ آپ نے بہت کام کیا لیکن مساوات ا کے تحت آپ نے کوئی کام نہیں کیا۔

مساوات ا سے واضح ہے کہ قوت کی اکائی کو فاصلہ کی اکائی سے ضرب دینے سے کام کی اکائی حاصل ہو گی۔ بین الاقوامی نظام اکائی میں قوت کی اکائی نیوٹن N اور فاصلہ کی اکائی میٹر m ہے لہٰذا اس نظام میں کام کی اکائی نیوٹن میٹر $\mathrm{N \cdot m}$ ہو گی جس کو خصوصی نام **جاول**[۱۶] دیا گیا ہے اور جس کو J سے ظاہر کیا جاتا ہے۔

مثال ۶.۳۰: فرض کریں آپ $80\,\mathrm{kg}$ کمیت کو $30\,\mathrm{cm}$ بلندی تک اٹھاتے ہیں۔ ایسا کرتے ہوئے آپ درج ذیل کام کرتے ہیں۔

$$W = Fd = (80)(9.8)(0.3) = 235.2\,\mathrm{J}$$

□

[۱۶] joule

متغیر قوت اور کام

اگر آپ پانی کی ایسی بالٹی کو اٹھائیں جس سے پانی ٹپکتا ہو تب لاگو قوت کی قیمت بلندی کے ساتھ تبدیل ہو گی۔ ایسی صورت میں قوت کا کلیہ $W = Fd$ تبدیل کرتے ہوئے تکمل کا استعمال ضروری ہو گا جو قوت کی تبدیلی کا حساب رکھ سکے۔

فرض کریں کہ محور x سے اس لکیر کو ظاہر کرنا ممکن ہے جس پر قوت عمل کرتی ہے اور قوت کی مقدار F کو فاصلہ x کا استمراری تفاعل تصور کیا جا سکتا ہے۔ ہم وقفہ $x = a$ تا $x = b$ پر قوت کے کام کو معلوم کرنا چاہتے ہیں۔ ہم وقفہ $[a, b]$ کی خانہ بندی کرتے ہوئے ہر ذیلی وقفہ $[x_{k-1}, x_k]$ میں کوئی نقطہ c_k منتخب کرتے ہیں۔ اگر ذیلی وقفہ چھوٹا ہو تب x_{k-1} سے x_k تک کے فاصلہ میں استمراری قوت F کی تبدیلی (استمراری ہونے کی بنا) بہت کم ہو گی جس کو رد کیا جا سکتا ہے۔ یوں x_{k-1} سے x_k تک حرکت کے دوران کام کی قیمت تخمیناً $F(c_k)\Delta x_k$ ہو گی۔ یوں درج ذیل ریمان مجموعہ $x = a$ سے $x = b$ تک قوت F کا کام دے گا۔

$$\sum_{k=1}^{n} F(c_k)\Delta x_k \tag{۲}$$

ہم توقع کرتے ہیں کہ جیسے جیسے خانہ بندی کا معیار صفر تک پہنچتا ہو ویسے ویسے یہ تخمین مزید بہتر ہو گی لہٰذا ہم $x = a$ سے $x = b$ تک F کے تکمل کو a سے b تک قوت F کے کام کی تعریف لیتے ہیں۔

تعریف: محور x پر $x = a$ سے $x = b$ تک لاگو متغیر قوت $F(x)$ درج ذیل **کام** کرتی ہے۔

$$W = \int_a^b F(x)\,\mathrm{d}x \tag{۳}$$

□

کام کی اکائی **جاول** J ہے۔

مثال ۶.۳۱: قوت $F(x) = \frac{1}{x^2}\,\mathrm{N}$ محور x پر $x = 1\,\mathrm{m}$ تا $x = 10\,\mathrm{m}$ عمل کرتی ہے۔ یہ قوت درج ذیل کام کرتی ہے۔

$$W = \int_1^{10} \frac{1}{x^2}\,\mathrm{d}x = -\frac{1}{x}\Big]_1^{10} = -\frac{1}{10} + 1 = 0.9\,\mathrm{J}$$

□

مثال ۶.۳۲: گاؤں میں کنواں سے پانی نکالنے کے لئے بوکا استعمال کیا جاتا ہے۔ کھوہ کی گہرائی $20\,\mathrm{m}$، خالی بوکا کی کمیت $2\,\mathrm{kg}$ اور رسی کی کمیت $0.1\,\mathrm{kg\,m^{-1}}$ ہے۔ بوکا میں ابتدائی طور پر $10\,\mathrm{L}$ پانی ہوتا ہے۔ چونکہ بوکا سے پانی رستا ہے لہٰذا جتنی دیر میں بوکے کو نیچے سے اوپر کھینچا جاتا ہے اتنی دیر میں بوکا خالی ہو جاتا ہے۔ بوکا سے پانی کے اخراج کو مستقل تصور کریں۔ درج ذیل کام معلوم کریں۔

ا. صرف پانی بلند کرنے کا کام۔

ب. پانی اور بوکا بلند کرنے کا کام۔

۹۳۸۱ ج. پانی، بوکا اور رسی بلند کرنا کا کام۔

۹۳۸۲ حل:

۹۳۸۳ ا. صرف پانی: پانی اٹھانے کے لئے درکار قوت پانی کے وزن جتنا ہو گا جو ابتدا میں $98\,\mathrm{N} = (10)(9.8)$ اور آخر میں صفر ہے۔ یوں مبدا کو
۹۳۸۴ کنواں کی تہہ میں رکھتے ہوئے قوت کو

$$F(x) = \underbrace{98}_{\text{ابتدائی وزن}} \underbrace{\left(\frac{20-x}{20}\right)}_{\text{اونچائی ہو پر باقی تناسب}} = 98\left(1-\frac{x}{20}\right) = 98 - 4.9x\,\mathrm{N}$$

۹۳۸۵ لکھا جا سکتا ہے لہٰذا کام درج ذیل ہو گا۔

$$\begin{aligned} W &= \int_a^b F(x)\,\mathrm{d}x \\ &= \int_0^{20} (98-4.9x)\,\mathrm{d}x = \left[98x - \frac{4.9x^2}{2}\right]_0^{20} = 1960 - 980 = 980\,\mathrm{J} \end{aligned}$$

۹۳۸۶ ب. صرف بوکا: صرف بوکا اٹھانے کے لئے درکار کام مساوات ا کے تحت $392\,\mathrm{J} = (2)(9.8)(20)$ ہو گا۔ یوں پانی اور بوکا دونوں کے لئے
۹۳۸۷ درکار کام درج ذیل ہو گا۔

$$W = 980 + 392 = 1372\,\mathrm{J}$$

۹۳۸۸ ج. پانی، بوکا اور رسی: مبدا سے x بلندی پر پانی، بوکا اور رسی کی کمیت کو $g = 9.8\,\mathrm{m\,s^{-2}}$ سے ضرب دینے سے درج ذیل درکار قوت حاصل ہوتی
۹۳۸۹ ہے۔

$$F(x) = \underbrace{(98-4.9x)}_{\text{پانی کا متغیر وزن}} + \underbrace{(19.6)}_{\text{بوکا کا مستقل وزن}} + \underbrace{(0.1)(9.8)(20-x)}_{\text{رسی کا متغیر وزن}}$$

۹۳۹۰ صرف رسی کو اوپر کھینچنے کا کام درج ذیل ہو گا۔

$$\begin{aligned} W &= \int_0^{20} (0.1)(9.8)(20-x)\,\mathrm{d}x = \int_0^{20} (19.6 - 0.98x)\,\mathrm{d}x \\ &= \left[19.6x - \frac{0.98x^2}{2}\right]_0^{20} = 392 - 196 = 196\,\mathrm{J} \end{aligned}$$

۹۳۹۱ یوں پانی، بوکا اور رسی تینوں کو کھینچنے کے لئے درکار کام درج ذیل ہو گا۔

$$W = 980 + 392 + 196 = 1568\,\mathrm{J}$$

۹۳۹۲ □

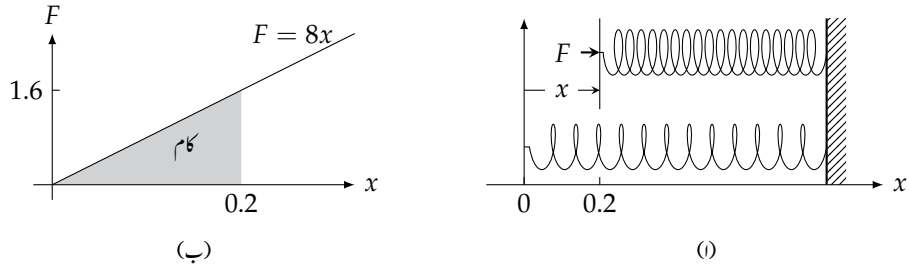

شکل ۶.۱۱۲: اسپرنگ کی لمبائی میں تبدیلی اور قوت راست تناسب ہیں۔

۹۳۹۳ **قانون ہک برائے اسپرنگ**

۹۳۹۴ **قانون ہک**[۱۷] کے تحت کسی بھی اسپرنگ کی قدرتی لمبائی کو تان کر یا دبا کر x اکائیاں تبدیل کرنے کے لئے درکار قوت لمبائی x کے راست متناسب ہو گی:

$$F = kx \tag{۴}$$

۹۳۹۵ **مستقلہ اسپرنگ** k جو اسپرنگ کی خاصیت ہے کو **مقیاس لچک**[۱۸] کہتے ہیں۔ مقیاس لچک کو قوت فی اکائی لمبائی میں ناپا جاتا ہے۔ جب تک لاگو قوت
۹۳۹۶ اسپرنگ کی دھاتی تار کو بگاڑ نہ دے قانون ہک (مساوات ۴) بہترین نتائج دیتا ہے۔ اس حصہ میں ہم فرض کرتے ہیں کہ لاگو قوت اسپرنگ کو خراب نہیں کرتی
۹۳۹۷ ہے۔

۹۳۹۸ مثال ۶.۳۳: ایک اسپرنگ جس کا مقیاس لچک $k = 8\,\mathrm{N\,m^{-1}}$ ہے کی لمبائی کو $1\,\mathrm{m}$ سے تبدیل کر کے $0.8\,\mathrm{m}$ کیا جاتا ہے۔ درکار کام
۹۳۹۹ تلاش کریں۔

۹۴۰۰ حل: ہم اسپرنگ کو محور x پر پڑا ہوا تصور کرتے ہیں (شکل ۶.۱۱۲)۔ اسپرنگ کا ایک سرا مبدا پر ہے جبکہ اس کا دوسرا سرا $x = 1$ پر باندھا ہوا ہے۔ یوں
۹۴۰۱ ہم قوت کو $F = 8x$ لکھ سکتے ہیں جہاں x کی قیمت 0 تا $0.2\,\mathrm{m}$ ہو گی۔ درکار کام درج ذیل ہو گا۔

$$W = \int_0^{0.2} 8x\,\mathrm{d}x = \left[\frac{8x^2}{2}\right]_0^{0.2} = 0.16\,\mathrm{J}$$

۹۴۰۲ □

۹۴۰۳ مثال ۶.۳۴: ایک اسپرنگ جس کی قدرتی لمبائی $1\,\mathrm{m}$ ہے کو $24\,\mathrm{N}$ قوت سے تان کر $1.8\,\mathrm{m}$ لمبا کیا جاتا ہے۔

۹۴۰۴ ا. مقیاس لچک k تلاش کریں۔

۹۴۰۵ ب. اسپرنگ کی لمبائی کو $2\,\mathrm{m}$ تبدیل کرنے کے لئے درکار کام تلاش کریں۔

۹۴۰۶ ج. اسپرنگ کی لمبائی میں $45\,\mathrm{N}$ کی قوت کتنی تبدیلی پیدا کرے گی؟

---

[۱۷] Hooke'slaw
[۱۸] springconstant

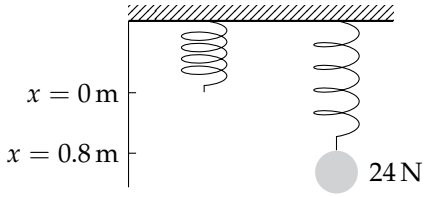

شکل ۶.۱۱۳: قوت نے اسپرنگ کی لمبائی کو بڑھایا ہے۔

حل:

ا. مقیاس لچک: قیاس لچک کو مساوات ۴ سے حاصل کرتے ہیں۔ اسپرنگ کی لمبائی میں تبدیلی $0.8\,\mathrm{m}$ ہے۔

$$24 = k(0.8) \quad \Longrightarrow \; k = \frac{24}{0.8} = 30\,\mathrm{N\,m^{-1}}$$

ب. کام: ہم اسپرنگ کو چھت سے یوں آویزاں تصور کرتے ہیں کہ اس کا آزاد سر $x = 0$ پر ہو (۶.۱۱۳)۔ اسپرنگ کی لمبائی کو اس کی قدرتی لمبائی سے x میٹر زیادہ کرنے کے لئے درکار قوت $F = kx$ ہو گی جو اسپرنگ کو نیچے رخ کھینچے گی۔ یوں $x = 0$ سے $x = 2\,\mathrm{m}$ تک کھینچنے کے لئے کام درج ذیل ہو گا۔

$$W = \int_0^2 30x\,\mathrm{d}x = \left.\frac{30x^2}{2}\right]_0^2 = 60\,\mathrm{J}$$

ج. لمبائی میں تبدیلی: ہم مساوات $F = 30x$ میں $F = 45$ ڈال کر x تلاش کرتے ہیں۔

$$45 = 30x \quad \Longrightarrow \; x = \frac{45}{30} = 1.5\,\mathrm{m}$$

یوں اسپرنگ کی کل لمبائی $1 + 1.5 = 2.5\,\mathrm{m}$ ہو گی۔

□

پانی کی نکاسی

کسی برتن یا حوض سے پانی کی نکاسی کے لئے کتنا کام درکار ہو گا؟ ہم پانی کو افقی تہوں میں تقسیم کرتے ہوئے ایک ایک تہہ کو برتن سے باہر نکالتے ہیں۔ یوں اگر تہہ کی موٹائی $\mathrm{d}y$ اور اس کے سطحی رقبہ S ہو تب اس کی کمیت $\rho S\,\mathrm{d}y$ اور وزن $\rho Sg\,\mathrm{d}y$ ہو گا جہاں پانی کی کثافت کو ρ اور کشش ثقل کو g سے ظاہر کیا گیا ہے۔ اس تہہ کو بلندی h تک منتقل کرنے کے لئے $\mathrm{d}W = Fh = \rho Sgh\,\mathrm{d}y$ کام کرنا ہو گا۔ یوں تمام تہوں کو نکالنے کے لئے تکمل حل کرنا ہو گا۔ اگلے مثال میں ایک ٹھوس مثال پیش کی گئی ہے۔

مثال ۶.۳۵: پانی سے بھرے ہوئے ایک بیلنی حوض کا رداس $5\,\mathrm{m}$ اور قد $h = 10\,\mathrm{m}$ ہے۔ پانی کو $14\,\mathrm{m}$ بلندی پر منتقل کرنے کے لئے کتنا کام کرنا ہوگا؟

حل: ہم حوض کو کارتیسی محدد پر تصور کرتے ہوئے وقفہ $[0, 10]$ کی خانہ بندی کر کے پانی کو تہہ در تہہ تقسیم کرتے ہیں (شکل ۶.۱۱۴)۔ سطح y اور سطح $y + \mathrm{d}y$ کے بیچ پانی کا حجم

$$\Delta H = \pi(\text{رداس})^2(\text{موٹائی}) = \pi(5)^2\Delta y = 25\pi\Delta y\,\mathrm{m}^3$$

اور کمیت

$$\mathrm{d}M = (\rho)(\Delta H) = (1000)(25\pi\Delta y) = 25\,000\pi\Delta y\,\mathrm{kg}$$

ہو گی جہاں پانی کی کثافت $\rho = 1000\,\mathrm{kg\,m^{-3}}$ ہے۔ اس تہہ پر کشش ثقل کی وجہ سے نیچے رخ قوت عمل کرے گی لہٰذا اس تہہ کو اٹھانے کی خاطر تہہ کی وزن کے برابر قوت F درکار ہو گی:

$$F = (g)(\mathrm{d}M) = (9.8)(25\,000\pi\Delta y) = 245\,000\pi\Delta y\,\mathrm{N}$$

یوں اس تہہ کو y کی بلندی سے $14\,\mathrm{m}$ کی بلندی تک اٹھانے کے لئے درج ذیل کام کرنا ہوگا۔

$$\mathrm{d}W = (\text{قوت})(\text{فاصلہ}) = (245\,000\pi)(14 - y)\Delta y\,\mathrm{J}$$

تمام پانی کو اس بلندی تک اٹھانے کے لئے تخمیناً

$$W \approx \sum_0^{10} \Delta W = \sum_0^{10} \Delta y\,\mathrm{J}$$

کام کرنا ہوگا جو وقفہ $0 \leq y \leq 10$ پر تفاعل $245\,000\pi(14 - y)$ کا ریمان مجموعہ ہے۔ حوض خالی کرنے کے لئے درکار کام $\|P\| \to 0$ کی صورت میں اس ریمان مجموعے کا حد ہو گا:

$$\begin{aligned} W &= \int_0^{10} 245\,000\pi(14 - y)\,\mathrm{d}y = 245\,000\pi \int_0^{10} (14 - y)\,\mathrm{d}y \\ &= 245\,000\pi\left[14y - \frac{y^2}{2}\right]_0^{10} = 245\,000\pi[90] \approx 69.3 \times 10^6\,\mathrm{J} \end{aligned}$$

ایک کلو واٹ طاقت کا بجلی کا پمپ ایک سیکنڈ میں $1000\,\mathrm{J}$ کام کرتا ہے۔ اس پمپ کو یہ حوض خالی کرنے کے لئے تقریباً 19 گھنٹے اور 15 منٹ کا وقت درکار ہو گا۔ □

مثال ۶.۳۶: ایک مخروط حوض جس کو شکل ۶.۱۱۵ میں دکھایا گیا ہے کنارے سے $0.5\,\mathrm{m}$ نیچے تک زیتون کی تیل سے بھرا ہوا ہے۔ زیتون کی تیل کی کثافت $\rho = 930\,\mathrm{kg\,m^{-3}}$ ہے۔ تیل کو حوض کے کنارے تک پمپ کرنے کے لئے کتنا کام درکار ہو گا؟

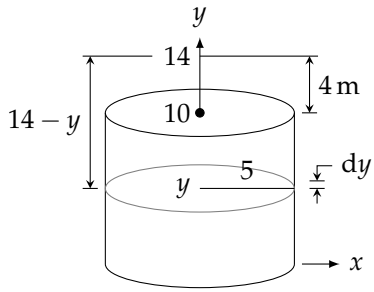

شکل ۶.۱۱۴: بیلنی حوض (مثال ۶.۳۵)

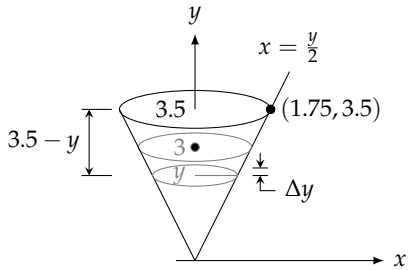

شکل ۶.۱۱۵: زیتون تیل کی مخروط حوض (مثال ۶.۳۶)

۹۳۳۵ حل: ہم وقفہ $[0,3]$ کی خانہ بندی کرتے ہوئے خانہ بندی کے نقطوں پر افقی سطحیں تصور کرتے ہوئے تیل کو باریک تہوں میں تقسیم کرتے ہیں۔ سطح
۹۳۳۶ y اور سطح $y+\Delta y$ کے بیچ تہہ کا حجم درج ذیل ہو گا۔

$$\Delta H = \pi(\text{رداس})^2(\text{موٹائی}) = \pi\left(\frac{y}{2}\right)^2\Delta y = \frac{\pi}{4}y^2\Delta y\,\mathrm{m}^3$$

۹۳۳۷ اس تہہ کو اٹھانے کے لئے اس تہہ کی وزن کے برابر قوت $F(y)$ درکار ہو گا:

$$F(y) = \rho g\Delta H = (930)(9.8)\left(\frac{\pi}{4}y^2\Delta y\right) = \frac{9114\pi}{4}y^2\Delta y\,\mathrm{N}$$

۹۳۳۸ حوض کے کنارے سے اس تہہ تک کا فاصلہ $3.5-y$ ہے لہٰذا اس تہہ کو حوض کے کنارے تک اٹھانے کے لئے درج ذیل کام درکار ہو گا۔

$$\Delta W = \frac{9114\pi}{4}(3.5-y)y^2\Delta y\,\mathrm{J}$$

۹۳۳۹ $y=0$ سے $y=3$ تک تمام تہوں کو حوض کے کنارے تک اٹھانے کے لئے تخمیناً

$$W \approx \sum_0^3 \frac{9114\pi}{4}(3.5-y)y^2\Delta y\,\mathrm{J}$$

۹۳۴۰ کام درکار ہو گا جو وقفہ $[0,3]$ پر تفاعل $\frac{9114\pi}{4}(3.5-y)y^2$ کا ریمان مجموعہ ہے۔ تیل کو حوض کے کنارے تک پمپ کرنے کے لئے درکار کام،
۹۳۴۱ خانہ بندی کا معیار صفر تک کرنے سے حاصل، ریمان مجموعے کا حد ہو گا:

$$\begin{aligned} W &= \int_0^3 \frac{9114\pi}{4}(3.5-y)y^2\,\mathrm{d}y \\ &= \frac{9114\pi}{4}\int_0^3 (3.5y^2 - y^3)\,\mathrm{d}y \\ &= \frac{9114\pi}{4}\left[\frac{3.5y^3}{3} - \frac{y^4}{4}\right]_0^3 \approx 80\,529\,\mathrm{J} \end{aligned}$$

۹۳۴۲ □

سوالات

متغیر قوت کا کام

سوال ۶.۲۷۰: اگر مثال ۶.۳۲ میں بوکا کا حجم $20\ \mathrm{L}$ ہو لیکن اس میں سوراخ بھی بڑا ہو تا کہ اب بھی بوکا کو کنواں سے نکالتے ہوئے بوکا خالی ہو جاتا ہو۔ بوکا اور رسی کی کمیت کو شامل نہ کرتے ہوئے ایک بار بوکا نکالنے کے لئے درکار کام دریافت کریں۔ بوکا سے پانی کے اخراج کو مستقل تصور کریں۔

سوال ۶.۲۷۱: فرض کریں کہ مثال ۶.۳۲ میں بوکا کو اس رفتار سے اوپر کھینچا جاتا ہے کہ آخر میں بوکا میں $4\ \mathrm{L}$ پانی ہوتا ہے۔ پانی نکالنے میں کتنا کام درکار ہو گا؟ بوکا اور رسی کی کمیت کو شامل نہ کریں اور بوکا سے پانی کے اخراج کو مستقل تصور کریں۔

سوال ۶.۲۷۲: ایک کوہ پیما چٹان سے لٹکی ہوئی $50\ \mathrm{m}$ رسی کو اوپر کھینچتا ہے۔ رسی کی کثافتی وزن $0.624\ \mathrm{N\,m^{-1}}$ ہے۔ کتنا کام درکار ہو گا؟

سوال ۶.۲۷۳: ریت کو تھیلے میں ڈال کر $6\ \mathrm{m}$ بلند چھت تک برقرار رفتار سے کھینچ کر پہنچایا جاتا ہے۔ تھیلے میں سوراخ سے ریت کا اخراج ہوتا ہے جس کو مستقل تصور کیا جا سکتا ہے۔ ابتدائی طور پر تھیلا میں $50\ \mathrm{kg}$ ریت ہوتی ہے جو آخر میں آدھی رہ جاتی ہے۔ رسی اور تھیلا کی کمیت کو نظر انداز کرتے ہوئے درکار کام معلوم کریں۔

سوال ۶.۲۷۴: آج کل بالخصوص بلند عمارتوں میں سیڑھیوں کے ساتھ ساتھ **مصعد**[19] بھی پائے جاتے ہیں۔ مصعد کو چھت پر رکھے ہوئے موٹر کی طاقت سے چلایا جاتا ہے۔ کئی لڑیوں پر مشتمل رسی کی کثافت $6\ \mathrm{kg\,m^{-1}}$ ہونے کی صورت میں صرف رسی کو زمین سے $60\ \mathrm{m}$ بلند عمارت کی چھت تک اٹھانے میں موٹر کتنا کام کرے گی؟

سوال ۶.۲۷۵: نقطہ $(x, 0)$ پر پائے جانے والے ذرہ جس کی کمیت m ہے پر قوت $F = \frac{k}{x^2}$ عمل کرتی ہے جہاں k مستقل ہے۔ یہ ذرہ ساکن حال سے شروع ہو کر نقطہ b سے نقطہ a پہنچتا ہے جہاں $0 < a < b$ ہیں۔ اس ذرہ پر کتنا کام ہوا؟

سوال ۶.۲۷۶: ایک بیلن جس کا رقبہ عمودی تراش S ہے میں موجود گیس پر میکانی دباو ڈالا جاتا ہے (شکل ۶.۱۱۶)۔ اگر گیس کا حجم V اور اس کا دباو p ہو تب دکھائیں کہ گیس کو (p_1, V_1) حال سے (p_2, V_2) حال تک پہنچانے میں درج ذیل کام درکار ہو گا؟

$$W = \int_{(p_1,V_1)}^{(p_2,V_2)} p\,\mathrm{d}V$$

(اشارہ: شکل ۶.۱۱۶ کو دیکھ کر بوکا پر قوت کو $F = pS$ اور چھوٹے حجم کو $\mathrm{d}V = S\,\mathrm{d}x$ لکھا جا سکتا ہے۔)

سوال ۶.۲۷۷: اگر گیس کا ابتدائی حجم $V_1 = 1500\ \mathrm{cm^3}$، ابتدائی دباو $103\,360\ \mathrm{N\,m^{-2}}$ اور اختتامی حجم $200\ \mathrm{cm^3}$ ہو تب سوال ۶.۲۷۶ کے مکمل سے کام دریافت کریں۔ یہاں آپ فرض کریں کہ گیس کا دباو ایک **حرارت ناگزر عمل**[20] ہے جس میں حراری توانائی تبدیل نہیں ہوتی ہے۔ حرارت ناگزر عمل کے قانون کے تحت $pV^{1.4} = c$ ہو گا جہاں c مستقل ہے۔

اسپرنگ

سوال ۶.۲۷۸: ایک اسپرنگ جس کی قدرتی لمبائی $2\ \mathrm{m}$ ہے کی لمبائی کو $5\ \mathrm{m}$ بنانے کے لئے درکار کام $1800\ \mathrm{J}$ ہے۔ اس اسپرنگ کا مقیاس لچک

---

[19] lift
[20] adiabaticprocess

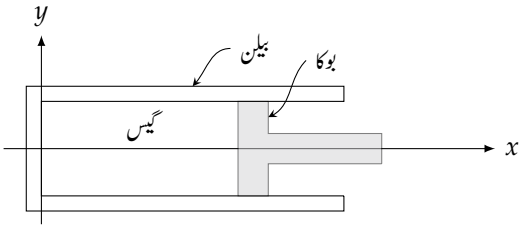

شکل ۶.۱۱۶: گاڑی کا انجن ایک بیلن جس میں بوکا چلتا ہو پر مشتمل ہوتا ہے۔ بوکے کی حرکت سے گیس کا حجم اور دباو تبدیل ہوتے ہیں (سوال ۶.۲۷۶)۔

تلاش کریں۔

سوال ۶.۲۷۹: ایک اسپرنگ جس کی قدرتی لمبائی 30 cm ہے پر 400 N قوت لاگو کرتے ہوئے اس کو کھینچ کر 45 cm لمبائی تک پہنچایا جاتا ہے۔ (ا) مقیاس لچک تلاش کریں۔ (ب) اسپرنگ کی لمبائی کو 35 cm کرنے کے لئے کتنی قوت درکار ہو گی؟ (ج) قدرتی لمبائی سے 600 N قوت اسپرنگ کی لمبائی کو کتنا زیادہ کرتی ہے؟

سوال ۶.۲۸۰: ایک ربڑی پٹی کی لمبائی کو 2 N کی قوت 2 cm بڑھاتی ہے۔ ربڑی پٹی پر قانون ہک کا اطلاق ہوتا ہے۔ ربڑی پٹی کی لمبائی کو 4 N کی قوت کتنا بڑھائے گی اور یہ قوت کتنا کام کرے گی؟

سوال ۶.۲۸۱: اگر 90 N کی قوت اسپرنگ کی لمبائی کو قدرتی لمبائی سے 1 m زیادہ کرتی ہو تب اسپرنگ کی قدرتی لمبائی سے اس کی لمبائی کو 5 m زیادہ کرنے کے لئے کتنا کام درکار ہو گا؟

سوال ۶.۲۸۲: ریل گاڑی کے ڈبوں پر نسب اسپرنگ ان ڈبوں کو ایک دوسرے سے دور رکھتے ہیں اور ان کی ٹکراؤ کو محفوظ بناتے ہیں۔ ایسا ایک اسپرنگ جس کی قدرتی لمبائی 20 cm ہے پر 100 000 N کی قوت لاگو کرنے سے اسپرنگ کی کم سے کم لمبائی 12 cm حاصل ہوتی ہے۔ (ا) اسپرنگ کا مقیاس لچک تلاش کریں۔ (ب) اسپرنگ کو پہلا cm دبانے کے لئے کتنا کام درکار ہو گا۔ اس کو دوسرا سنٹی میٹر دبانے کے لئے کتنا کام درکار ہو گا؟

سوال ۶.۲۸۳: گھریلو استعمال کے ترازو پر 74 kg کا شخص کھڑا ہونے سے ترازو 1.5 mm دبتا ہے۔ فرض کریں کہ یہ ترازو قانون ہک کے تحت کام کرتا ہے۔ ایک شخص، جس کا ترازو پر کھڑا ہونے سے ترازو 3 mm دبتا ہو، کا وزن کتنا ہو گا؟

پانی کی نکاسی

ثقلی اسراع کی قیمت کو عموماً $g = 9.8\,\mathrm{m\,s^{-2}}$ لیا جاتا ہے۔ حقیقت میں سطح سمندر پر اس کی قیمت قطبین پر $9.832\,\mathrm{m\,s^{-2}}$ اور عرضی خط استوا پر $9.780\,\mathrm{m\,s^{-2}}$ ہے۔ ان دو قیمتوں میں فرق تقریباً 0.5 % ہے۔

سوال ۶.۲۸۴: بارانی علاقوں میں بارش کے پانی کو زیر زمین حوض میں ذخیرہ کیا جاتا ہے۔ زیر زمین حوض جس کو شکل ۶.۱۱۷ میں دکھایا گیا ہے پانی سے بھرا ہوا ہے۔ حوض کو خالی کرتے ہوئے پانی کو سطح زمین پر لایا جاتا ہے۔ (ا) حوض کو خالی کرنے کے لئے کتنا کام کرنا ہو گا؟ (ب) 0.25 kW کا پمپ حوض کو کتنی دیر میں خالی کرے گا؟ (ج) دکھائیں کہ ابتدائی 5 گھنٹوں میں تقریباً آدھا حوض خالی ہو جائے گا۔ (د) خط استوا پر جزو-ب کا جواب کیا ہو گا؟ قطبین پر یہ جواب کیا ہو گا؟

سوال ۶.۲۸۵: زیر زمین حوض جس کو شکل ۶.۱۱۸ میں دکھایا گیا ہے پانی سے بھرا ہوا ہے۔ حوض کا کنارہ سطح زمین سے 4 m نیچے ہے۔ حوض کو خالی کرتے ہوئے پانی کو سطح زمین پر لایا جاتا ہے۔ (ا) حوض کو خالی کرنے کے لئے کتنا کام کرنا ہو گا؟ (ب) 0.25 kW کا پمپ حوض کو کتنی دیر میں خالی کرے

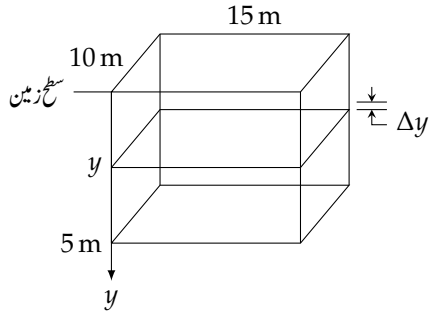

شکل ۶.۱۱۷: زیر زمین حوض (سوال ۶.۲۸۴)

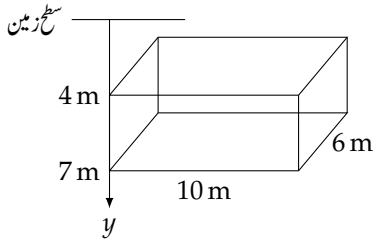

شکل ۶.۱۱۸: زیر زمین حوض (سوال ۶.۲۸۵)

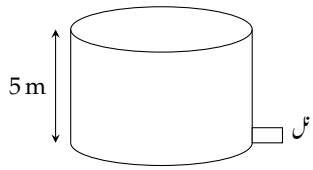

شکل ۶.۱۱۹: بیلنی حوض (سوال ۶.۲۸۹)

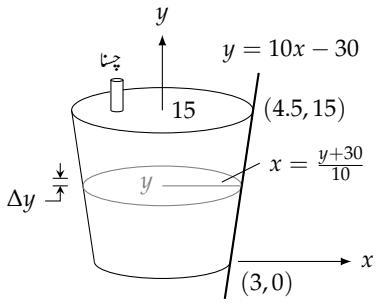

شکل ۶.۱۲۰: مخروط مقطوع ڈبیا (پیمائش سنٹی میٹروں میں ہے۔)

گا؟ (ج) آدھا حوض کتنی دیر میں خالی ہو گا؟ (پورا حوض خالی کرنے کے نصف دورانیہ سے کم وقت درکار ہو گا)۔ (د) خط استوا پر جزو-ب کا جواب کیا ہو گا؟ قطبین پر یہ جواب کیا ہو گا؟

سوال ۶.۲۸۶: اگر حوض کے کنارے سے 4 m بلند کے بجائے حوض کے کنارے تک پانی کو اٹھایا جائے تب مثال ۶.۳۵ میں کتنا کام درکار ہو گا؟

سوال ۶.۲۸۷: اگر مثال ۶.۳۵ میں حوض آدھا بھرا ہو تب حوض کے کنارے سے 4 m بلندی تک پانی کو پہنچانے کے لئے کتنا کام کرنا ہو گا؟

سوال ۶.۲۸۸: ایک بیلنی حوض جس کا رداس 4 m اور قد 10 m ہے مٹی کے تیل سے بھرا ہوا ہے۔ مٹی کے تیل کی کثافت $0.81\ \mathrm{g\,cm^{-1}}$ ہے۔ تمام تیل کو حوض کے بالائی کنارے تک پمپ کرنے کے لئے کتنا کام کرنا ہو گا؟

سوال ۶.۲۸۹: ایک حوض جس کا قد 5 m ہے سطح زمین پر پڑا ہوا ہے (شکل ۶.۱۱۹)۔ قدرتی پانی سطح زمین سے 7 m نیچے ہے۔ حوض کو اس پانی سے دو طرح بھرا جا سکتا ہے۔ (ا) پمپ کے خارجی پائپ کو حوض کے کنارے پر رکھ کر حوض کو بھرا جا سکتا ہے۔ (ب) حوض کے نچلی سر پر موجود نل کے ذریعہ پانی کو حوض تک منتقل کیا جا سکتا ہے۔ دنوں تراکیب میں کونسا بہتر ہے؟ اپنے جواب کی وجہ پیش کریں۔

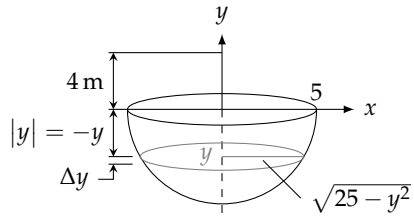

شکل ۶.۱۲۱: نصف کروی حوض (سوال ۶.۲۹۳)

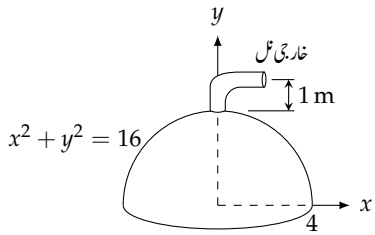

شکل ۶.۱۲۲: نصف کروی حوض (سوال ۶.۲۹۴)

سوال ۶.۲۹۰: ایک مشروب جس کی کثافت $0.769\ \mathrm{g\,cm^{-3}}$ ہے سے مخروط مقطوع ڈبیا بھرا ہوا ہے (۶.۱۲۰)۔ اس ڈبیا کا بالائی رداس $4.5\ \mathrm{cm}$، زیریں رداس $3\ \mathrm{cm}$ اور گہرائی $15\ \mathrm{cm}$ ہے۔ مشروب کو چسنا کے ذریعہ پیا جاتا ہے جو ڈبیا کی بالائی سطح سے $2.5\ \mathrm{cm}$ باہر نکلا ہوا ہے۔ پورا مشروب پینے کے لئے کتنا کام کرنا ہوگا۔

سوال ۶.۲۹۱: فرض کریں مثال ۶.۳۶ میں مخروط حوض دودھ سے بھرا ہوا ہے جس کی کثافت $1032\ \mathrm{kg\,m^{-3}}$ ہے۔ (ا) دودھ کو حوض کے کنارے تک پمپ کرنے کے لئے کتنا کام درکار ہوگا؟ (ب) دودھ کو حوض کے کنارے سے $1\ \mathrm{m}$ بلندی تک پمپ کرنے کے لئے کتنا کام درکار ہوگا؟

سوال ۶.۲۹۲: **بے زنگ فولاد**[۲۱] کا بڑا حوض بنانے کے لئے آپ منحنی $y = x^2, 0 \leq x \leq 4\ \mathrm{m}$ کو محور y کے گرد گھماتے ہو۔ یہ حوض سمندری پانی سے بھرا ہوا ہے جس کی کثافت تقریباً $10\,000\ \mathrm{N\,m^{-3}}$ ہے۔ حوض کو خالی کرنے کی خاطر اس پانی کو حوض کے کنارے تک پمپ کرنے کے لئے کتنا کام کرنا ہوگا؟

سوال ۶.۲۹۳: نصف کروی حوض جس کا رداس $5\ \mathrm{m}$ ہے پانی سے بھرا ہوا ہے (شکل ۶.۱۲۱)۔ پانی کو حوض کے بالائی کنارے سے $4\ \mathrm{m}$ بلندی تک پمپ کرنے کے لئے کتنا کام درکار ہوگا؟ پانی کی کثافت کو $9800\ \mathrm{N\,m^{-3}}$ لیں۔

سوال ۶.۲۹۴: نصف کروی حوض جس کا رداس $4\ \mathrm{m}$ ہے کو شکل ۶.۱۲۲ میں دکھایا گیا ہے جو **بنزین**[۲۲] سے بھرا ہوا ہے۔ بنزین کی کثافت $876\ \mathrm{kg\,m^{-3}}$ ہے۔ حوض کو خارجی نل، جو حوض کے بالائی سطح سے $1\ \mathrm{m}$ بلندی پر ہے، کے ذریعہ خارج کرنے کے لئے کتنا کام کرنا ہوگا؟

سوال ۶.۲۹۵: آپ کے گاؤں میں پانی کی فراہمی کے لئے $8\ \mathrm{m}$ قد کا ایک حوض تعمیر کیا جاتا ہے جس کا تلا زمین سے $20\ \mathrm{m}$ بلندی پر ہے۔ زیر زمین پانی کی سطح $100\ \mathrm{m}$ نیچے ہے۔ پانی کو $10\ \mathrm{cm}$ رداس کے پائپ سے $3\ \mathrm{kW}$ پمپ کی مدد سے حوض کی تلا میں نل کے ذریعہ بھرا جاتا ہے۔ خالی حوض کتنی دیر میں بھرے گا؟ (پائپ کو پانی سے بھرنے کے لئے درکار وقت کو نظر انداز کریں۔)

دیگر استعمال

سوال ۶.۲۹۶: مصنوعی سیارے کا خلائی مدار میں بھیجنا

کشش ثقل کی قیمت زمین کے مرکز سے فاصلہ r پر منحصر ہوتا ہے۔ کمیت m کے مصنوعی سیارے پر کشش ثقل درج ذیل ہوگا

$$F = \frac{GMm}{r^2}$$

---

[۲۱] stainlessssteel
[۲۲] benzene

جہاں زمین کی کمیت $M = 5.975 \times 10^{24}\,\mathrm{kg}$ ہے جبکہ تجاذبی مستقل $G = 6.6720 \times 10^{-11}\,\mathrm{N\,m^2\,kg^{-2}}$ ہے۔ زمین کا رداس $6\,370\,000\,\mathrm{m}$ ہے۔ یوں زمین سے $35\,780\,\mathrm{km}$ بلندی پر مدار تک $1000\,\mathrm{kg}$ مصنوعی سیارے کو منتقل کرنے کے لئے درج ذیل کام درکار ہو گا۔

$$W = \int_{6\,370\,000}^{35\,780\,000} \frac{1000MG}{r^2}\,\mathrm{d}r$$

حقیقت میں مصنوعی سیارہ ایک راکٹ پر نسب ہو گا جس کو یہاں نظر انداز کیا گیا ہے۔ اس تکمل کی قیمت تلاش کریں۔ تکمل کا زیریں حد سطح زمین کو ظاہر کرتا ہے جہاں سے سیارہ روانہ ہو گا۔

سوال ۶.۲۹۷: منفی برقیوں (الیکٹرانوں) کو ایک دوسرے کے قریب ہونے پر مجبور کرنا۔ دو منفی برقیے جن کے بیچ فاصلہ r ہو کے مابین درج ذیل قوت دفع پائی جاتی ہے جہاں $\epsilon_0 = 8.85 \times 10^{-12}\,\mathrm{F\,m^{-1}}$ برقی مستقل ہے اور $e = -1.602 \times 10^{-19}\,\mathrm{C}$ **منفی برقیہ**[۲۳] کا **بار**[۲۴] ہے۔

$$F = \frac{e^2}{4\pi\epsilon_0 r^2}$$

ا. فرض کریں کہ ایک منفی برقیہ نقطہ $(1,0)$ پر واقع ہے جبکہ دوسرے برقیے کو محور x پر نقطہ $(-1,0)$ سے مبدا تک منتقل کیا جاتا ہے۔ ایسا کرنے کے لئے کتنا کام کرنا ہو گا؟

ب. فرض کریں ایک برقیہ $(1,0)$ اور دوسرا $(-1,0)$ پر واقع ہیں۔ تیسرے برقیے کو $(5,0)$ سے $(3,0)$ تک منتقل کرنے کے لئے کتنی توانائی درکار ہو گی؟

کام اور حرکی توانائی

سوال ۶.۲۹۸: اگر متغیر قوت $F(x)$ ایک جسم جس کی کمیت m ہو کو محور x پر x_1 سے x_2 تک منتقل کرتی ہے۔ جسم کی سمتی رفتار v کو $\frac{\mathrm{d}x}{\mathrm{d}t}$ لکھا جا سکتا ہے۔ قانون نیوٹن $F = m\frac{\mathrm{d}v}{\mathrm{d}t}$ اور زنجیری قاعدہ

$$\frac{\mathrm{d}v}{\mathrm{d}t} = \frac{\mathrm{d}v}{\mathrm{d}x}\frac{\mathrm{d}x}{\mathrm{d}t} = v\frac{\mathrm{d}v}{\mathrm{d}x}$$

کو استعمال کرتے ہوئے دکھائی کہ اس جسم کو x_1 سے x_2 منتقل کرنے میں درج ذیل کام درکار ہو گا

$$W = \int_{x_1}^{x_2} F(x)\,\mathrm{d}x = \frac{1}{2}mv_2^2 - \frac{1}{2}mv_1^2$$

جہاں x_1 پر جسم کی رفتار v_1 اور x_2 پر اس کی رفتار v_2 ہے۔ طبیعیات میں $\frac{1}{2}mv^2$ کو رفتار v پر چلنے والے جسم کی **حرکی توانائی**[۲۵] کہتے ہیں۔ یوں کسی جسم کی حرکی توانائی میں تبدیلی اس جسم پر کیے گئے کام کے برابر ہو گی۔

---

[۲۳] electron
[۲۴] charge
[۲۵] kineticenergy

سوال ۶.۲۹۹ تا سوال ۶.۳۰۵ میں سوال ۶.۲۹۸ کا نتیجہ استعمال کریں۔

سوال ۶.۲۹۹: ٹینس کا کھیل
ایک کھلاڑی 58 g کمیت کی گیند کو زور سے مار کر $175\ \mathrm{km\,h^{-1}}$ کی رفتار تک پہنچاتا ہے۔ اس گیند پر کتنا کام کیا گیا؟

سوال ۶.۳۰۰: ایک گیند جس کی کمیت 145 g ہو کو کھلاڑی $145\ \mathrm{km\,h^{-1}}$ کی رفتار سے پھینکتا ہے۔ اس گیند پر کتنا کام کیا گیا؟

سوال ۶.۳۰۱: ایک سائکل سوار بمع سائکل کی کمیت 80 kg ہے۔ ساکن حال سے 40 km کی رفتار تک پہنچنے کے لئے کتنی توانائی درکار ہو گی؟

سوال ۶.۳۰۲: ایک گاڑی جس کی کمیت 880 kg ہے کی رفتار $40\ \mathrm{km\,h^{-1}}$ سے بڑھ کر $60\ \mathrm{km\,h^{-1}}$ کرنے کے لئے کتنی توانائی درکار ہو گی؟

سوال ۶.۳۰۳: فٹ بال
ایک فٹ بال جس کی کمیت 430 g ہے کو لات سے مار کر $95\ \mathrm{km\,h^{-1}}$ کی رفتار تک پہنچایا جاتا ہے۔ اس گیند پر کتنا کام کیا گیا؟

سوال ۶.۳۰۴: ایک کھلاڑی بازو کے زور سے 180 g کمیت کی گیند کو $90\ \mathrm{km\,h^{-1}}$ کی رفتار سے پھینکتا ہے۔ اس گیند پر کتنا کام کیا گیا؟

سوال ۶.۳۰۵: ایک اینٹ جس کی کمیت 3.5 kg ہے 4 m بلند چھت سے گرتی ہے۔ زمین پر پہنچنے کے لمحے پر اس کی حرکی توانائی کتنی ہو گی؟

۶.۹ فشار سیال اور قوت سیال

فشار p سے مراد وہ قوت ہے جو اکائی رقبہ پر عمل کرتی ہو۔ یوں اگر رقبہ S پر قوت F عمل کرتی ہو تب فشار p درج ذیل ہو گا۔

$$p = \frac{F}{S} \tag{۱}$$

مستقل گہرائی پر قوت سیال اور فشار سیال

شکل ۶.۱۲۳ میں ساکن سیال کو ایک برتن میں دکھایا گیا ہے جہاں تلا کا رقبہ S، سیال کی گہرائی h اور سیال کی کثافت ρ ہے۔ یوں سیال کا حجم Sh، کمیت ρSh اور وزن $g\rho Sh$ ہو گا۔ سیال کے وزن کے برابر قوت $F = g\rho Sh$ رقبہ S پر عمل کرے گی۔ یوں اکائی رقبہ پر قوت $g\rho h$ ہو گی جس کو **فشار**[۲۶] p یا **دباو** کہتے ہیں۔

$$p = \rho g h \tag{۲}$$

فشار کی اکائی نیوٹن فی مربع میٹر $\mathrm{N\,m^{-2}}$ ہے۔ آپ نے دیکھا کہ سیال کی قیمت پر برتن کی صورت کا کوئی اثر نہیں پایا جاتا ہے۔

---

[۲۶] pressure

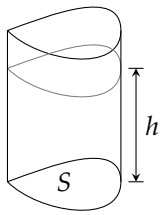

شکل ۶.۱۲۳: فشار سیال۔

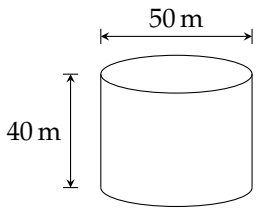

شکل ۶.۱۲۴: بیلنی حوض برائے مثال ۶.۳۷

۹۵۵۷ مستقل گہرائی کے رقبہ S پر درج ذیل قوت پائی جائے گی۔

$$F = pS \tag{۳}$$

۹۵۵۸

۹۵۵۹ سیال میں h گہرائی پر کسی بھی رخ فشار کی قیمت مساوات ۲ دیتی ہے۔ یوں کسی بھی گہرائی پر افقی اور انتصابی دیواروں پر فشار کی قیمت ایک دوسرے جیسی ہو گی۔

۹۵۶۰ مثال ۶.۳۷: ایک بیلنی حوض میں پانی کی گہرائی $40\,\mathrm{m}$ ہے جبکہ حوض کا رداس $25\,\mathrm{m}$ ہے (شکل ۶.۱۲۴)۔ حوض کے اطراف کی دیوار کی نچلی
۹۵۶۱ $1\,\mathrm{m}$ پٹی پر فشار سیال اور قوت سیال کتنا ہو گا؟ (پانی کی کثافت کو $\rho = 1000\,\mathrm{kg\,m^{-3}}$ لیں۔)

۹۵۶۲ حل: اس ایک میٹر چوڑی پٹی کے نچلے کنارے پر فشار درج ذیل ہو گا۔

$$p = \rho g h = (1000)(9.8)(40) = 392\,000\,\mathrm{N\,m^{-2}}$$

۹۵۶۳ ایک میٹر پٹی کا رقبہ

$$S = 2\pi r h = 2\pi(25)(1) = 50\pi\,\mathrm{m^2}$$

۹۵۶۴ ہے لہٰذا اس پر کل قوت درج ذیل ہو گی۔

$$F = pS = (392000)(50\pi) = 61\,575\,216.01\,\mathrm{N}$$

۹۵۶۵ □

۹۵۶۶ اس مثال میں پٹی کے نچلے حصے کی گہرائی $40\,\mathrm{m}$ اور بالائی حصے کی گہرائی $39\,\mathrm{m}$ تھی لہٰذا ان پر فشار پر مختلف ہو گا۔ ہم نے اس حقیقت کو نظر انداز کیا۔ آئیں
۹۵۶۷ متغیر گہرائی کی صورت میں فشار پر غور کریں۔

۹۵۶۸ **متغیر گہرائی پر فشار**

۹۵۶۹ فرض کریں ہم کثافت ρ کی سیال میں ڈوبے ہوئے انتصابی تختی کی ایک طرف پر قوت سیال جاننا چاہتے ہیں۔ ہم تختی کو xy مستوی میں خطہ $y = a$
۹۵۷۰ تا $y = b$ تصور کرتے ہیں (شکل ۶.۱۲۵)۔ ہم $[a, b]$ کی خانہ بندی کرتے ہیں۔ ہم اس خطہ کو نقاط خانہ بندی پر محور y کے عمودی فرضی سطحوں سے

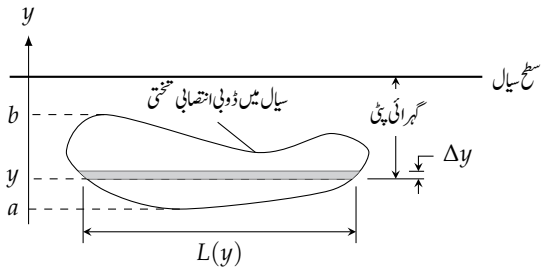

شکل ۶.۱۲۵: ایک پتلی پٹی پر قوت سیال۔

باریک افقی پٹیوں میں تقسیم کرتے ہیں۔ ایک نمائندہ پٹی جو y سے $y + \Delta y$ تک ہو کی چوڑائی Δy ہو گی جبکہ اس پٹی کے نچلی ضلع کی لمبائی $L(y)$ ہو گی۔ ہم فرض کرتے ہیں کہ $L(y)$ متغیر y کا استمراری تفاعل ہے۔

نیچے سے اوپر چلتے ہوئے گہرائی کی تبدیلی سے پٹی پر فشار تبدیل ہوتا ہے۔ اب اگر پٹی کی چوڑائی بہت کم ہو تب فشار کی اس تبدیلی کو رد کیا جا سکتا ہے اور ہم کہہ سکتے ہیں کہ پٹی پر ہر جگہ فشار وہی ہو گا جو پٹی کی نچلی کنارے پر ہے۔ یوں پٹی کی ایک طرف پر قوت درج ذیل ہو گی۔

$$\begin{aligned}\Delta F &= (\text{رقبہ پٹی})(\text{پٹی کے نچلے کنارے پر فشار})\\ &= \rho g(\text{گہرائی پٹی})L(y)\Delta y\end{aligned}$$

پورے تختی پر قوت تخمیناً

$$\sum_a^b \Delta F = \sum_a^b \rho g(\text{گہرائی پٹی})L(y)\Delta y \tag{۴}$$

ہو گی جو $[a, b]$ پر استمراری تفاعل کا ریمان مجموعہ ہے۔ ہم توقع کرتے ہیں کہ خانہ بندی کا معیار صفر تک پہنچنے سے یہ مجموعہ بہتر سے بہتر نتیجہ دے گا۔ ہم ان مجموعوں کی تحدیدی قیمت کو تختی پر قوت کی تعریف لیتے ہیں۔

تعریف: **تکمل برائے قوت سیال**

فرض کریں محور y پر $y = a$ سے $y = b$ تک کا خطہ، سیال میں ڈوبے ہوئی ایک تختی کو ظاہر کرتا ہے۔ مزید فرض کریں کہ y پر اس تختی کی سطح پر افقی پٹی کی بائیں سے دائیں لمبائی $L(y)$ ہے۔ اس تختی کی ایک طرف پر قوت سیال درج ذیل ہو گا۔

$$F = \int_a^b \rho g \cdot (\text{گہرائی پٹی}) \cdot L(y)\,\mathrm{d}y \tag{۵}$$

□

مثال ۶.۳۸: ایک مساوی الساقین مثلث تختی جس کا تلا $4\,\mathrm{m}$ اور قد $2\,\mathrm{m}$ ہے ایک پانی کے تالاب میں یوں ڈوبا ہوا ہے کہ اس کا تلا اوپر ہو۔ تلا پر پانی کی گہرائی $1.5\,\mathrm{m}$ ہے۔ تختی کے ایک طرف پر قوت تلاش کریں۔ (پانی کی کثافت کو $\rho = 1000\,\mathrm{kg\,m^{-3}}$ لیں۔)

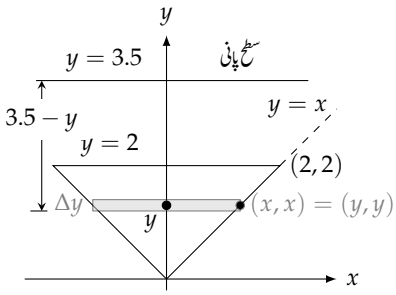

شکل ۶.۱۲۶: تختی پر قوت پانی (مثال ۶.۳۸)

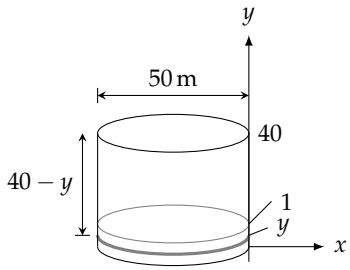

شکل ۶.۱۲۷: بیلنی حوض برائے مثال ۶.۳۹

۹۵۸۴ حل: ہم تختی کی نچلی راس کو محدد کے مبدا پر تصور کرتے ہیں (شکل ۶.۱۲۶)۔ یوں سطح پانی $y = 3.5$ پر ہو گا جبکہ تختی کا بالائی کنارہ $y = 2$ پر ہو
۹۵۸۵ گا۔ تختی کا دایاں کنارہ $y = x$ اور بایاں کنارہ $y = -x$ ہو گا۔ یوں y پر پٹی کی لمبائی

$$L(y) = 2x = 2y$$

۹۵۸۶ اور پانی کی گہرائی $(3.5 - y)$ ہو گی۔ تختی کی ایک طرف پر پانی کی قوت درج ذیل ہو گی۔

$$\begin{aligned}
F &= \int_a^b \rho g(\text{گہرائی پٹی}) L(y)\,\mathrm{d}y \\
&= \int_0^2 9800(3.5 - y)2y\,\mathrm{d}y \\
&= 9800 \int_0^2 (7y - 2y^2)\,\mathrm{d}y \\
&= 9800 \left[\frac{7y^2}{2} - \frac{2y^3}{3}\right]_0^2 = 84\,933\,\mathrm{N}
\end{aligned}$$

۹۵۸۷ □

۹۵۸۸ قوت سیال کا حصول

۹۵۸۹ کسی بھی محددی نظام میں سیال میں ڈوبے ہوئے انتصابی تختی کی ایک طرف پر قوت سیال حاصل کرنے کے لئے درج ذیل اقدام کریں۔

۹۵۹۰ ا. نمائندہ افقی پٹی کی لمبائی اور گہرائی کی عمومی کلیہ تلاش کریں۔

۹۵۹۱ ب. انہیں آپس میں ضرب دے کر سیال کی کثافت اور ثقلی مستقل $g = 9.8\,\mathrm{m/s^2}$ سے ضرب دے کر تکمل کو موزوں حدود کے بیچ حل کریں۔

۹۵۹۲ مثال ۶.۳۹: ہم اب مثال ۶.۳۷ میں بیلنی حوض کی نچلی ایک میٹر چوڑی پٹی پر قوت سیال کی بالکل ٹھیک قیمت معلوم کر سکتے ہیں۔

۹۵۹۳ ہم حوض کی تلا کو $y = 0$ پر رکھتے ہیں (شکل ۶.۱۲۷) جبکہ محدد y کو اوپر کے رخ رکھتے ہیں۔ ہم y پر نمائندہ افقی پٹی کے لئے درج ذیل لکھ سکتے ہیں۔

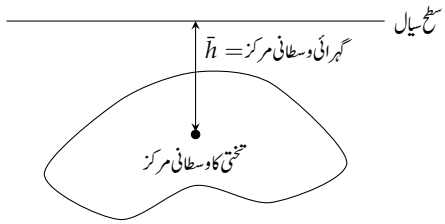

شکل ۶.۱۲۸: قوت سیال اور وسطانی مرکز۔

۹۵۹۴ ا. گہرائی پٹی: $40 - y$

۹۵۹۵ ب. لمبائی پٹی: 50π

۹۵۹۶ یوں ایک میٹر چوڑی پٹی پر قوت درج ذیل ہو گی۔

$$\begin{aligned} F &= \int_0^1 \rho g(\text{گہرائی})(\text{لمبائی})\,\mathrm{d}y = \int_0^1 \rho g(40-y)(50\pi)\,\mathrm{d}y \\ &= 9800(50\pi)\int_0^1 (40-y)\,\mathrm{d}y = 60\,805\,525.81\,\mathrm{N} \end{aligned}$$

۹۵۹۷ □

۹۵۹۸ اس مثال میں حاصل قوت مثال ۶.۳۷ سے کچھ کم ہے جو متوقع تھا۔

۹۵۹۹ **قوت سیال اور وسطانی مرکز**

۹۶۰۰ اگر ہمیں سیال میں ڈوبے انتصابی تختی کا وسطانی مرکز معلوم ہو تب ہم اس تختی کے ایک طرف پر قوت سیال باآسانی معلوم کر سکتے ہیں (شکل ۶.۱۲۸)۔

۹۶۰۱ مساوات ۵ سے درج ذیل لکھا جا سکتا ہے۔

$$\begin{aligned} F &= \int_a^b \rho g \times (\text{گہرائی پٹی}) \times L(y)\,\mathrm{d}y \\ &= \rho g \int_a^b (\text{گہرائی پٹی}) \times L(y)\,\mathrm{d}y \\ &= \rho g \times (\text{تختی کے خطے کا سطح سیال پر لکیر کے لحاظ سے معیار اثر}) \\ &= \rho g \times (\text{تختی کے وسطانی مرکز کی گہرائی}) \times (\text{تختی کا رقبہ}) \end{aligned}$$

۹۶۰۲ **قوت سیال اور وسطانی مرکز**

۹۶۰۳ سیال میں ڈوبی انتصابی تختی کے ایک طرف پر قوت سیال F معلوم کرنے کی لئے ρg ، تختی کے وسطانی مرکز کی گہرائی $\bar{h}$ اور تختی کے رقبہ S کا حاصل

ضرب لیں۔

$$F = \rho g \bar{h} S \tag{۶}$$

مثال ۶.۴۰: ایک مثلث تختی پر قوت سیال کو مثال ۶.۳۸ میں تلاش کیا گیا۔ مساوات ۶ استعمال کرتے ہوئے اس کو دوبارہ تلاش کریں۔

حل: مثلث کا وسطانی مرکز محدد y پر تلا سے راس کی جانب ایک تہائی فاصلہ پر پایا جاتا ہے (شکل ۶.۱۲۶) لہٰذا $\bar{h} = 1.5 + 2/3 = \frac{13}{6}$ ہو گا۔ مثلث کا رقبہ معلوم کرتے ہیں۔

$$S = \frac{1}{2}(\text{قاعدہ})(\text{قد}) = \frac{1}{2}(4)(2) = 4$$

یوں تختی کے ایک طرف پر قوت درج ذیل ہو گا۔

$$F = \rho g \bar{h} S = (1000 \times 9.8)\left(\frac{13}{6}\right)(4) = 84\,933\,\text{N}$$

□

مساوات ۶ کہتی ہے کہ سیال میں ڈوبی انتصابی تختی پر قوت سیال وہی ہو گا جو تختی کے پورے رقبے کو تختی کے وسطانی مرکز، جو $\bar{h}$ گہرائی پر ہے، منتقل کرنے سے حاصل ہو گا۔ عموماً اشکال کا وسطانی مرکز جدول سے دیکھا جا سکتا ہے اور یوں مساوات ۶ قوت سیال معلوم کرنے کا ایک آسان ذریعہ بنتا ہے۔ ظاہر ہے کہ وسطانی مرکز حاصل کرتے ہوئے کسی نے مساوات ۵ کی تکمل کی طرح کا تکمل حل کرتے ہوئے وسطانی مرکز حاصل کیا ہو گا۔ چونکہ اس وقت آپ سیکھ رہے ہیں لہٰذا فی الحال قوت سیال دریافت کرنے کے لئے مسئلے کا خاکہ بنائیں اور مساوات ۵ استعمال کریں۔

سوالات

سوال ۶.۳۰۶: حوض کی اندرونی سطح پر مثال ۶.۳۷ میں کل کتنی قوت سیال ہو گی؟

سوال ۶.۳۰۷: اگر مثال ۶.۳۷ میں حوض نصف بھرا ہو تب نچلی ایک میٹر پٹی پر قوت سیال کتنی ہو گی؟

سوال ۶.۳۰۸: مثلث تختی کی ایک طرف پر مثال ۶.۳۸ میں قوت سیال دریافت کیا گیا۔ اس تختی پر شکل ۶.۱۲۹ کا محدد استعمال کرتے ہوئے قوت سیال دوبارہ معلوم کریں۔

سوال ۶.۳۰۹: مثلث تختی کی ایک طرف پر مثال ۶.۳۸ میں قوت سیال دریافت کیا گیا۔ اس تختی پر شکل ۶.۱۳۰ کا محدد استعمال کرتے ہوئے قوت سیال دوبارہ معلوم کریں۔

سوال ۶.۳۱۰: اگر مثال ۶.۳۸ میں تختی کو مزید دو میٹر نیچے منتقل کیا جائے تب اس کی ایک طرف پر کتنی قوت سیال ہو گی؟

سوال ۶.۳۱۱: اگر مثال ۶.۳۸ میں تختی کو اتنا اوپر منتقل کیا جائے کہ اس کا تلا سطح پانی پر ہو تب اس کی ایک طرف پر کتنی قوت سیال ہو گی؟

سوال ۶.۳۱۲: مساوی الساقین مثلث تختی کو شکل ۶.۱۳۱ میں دکھایا گیا ہے جس کا تلا سطح پانی سے 1 m نیچے ہے۔

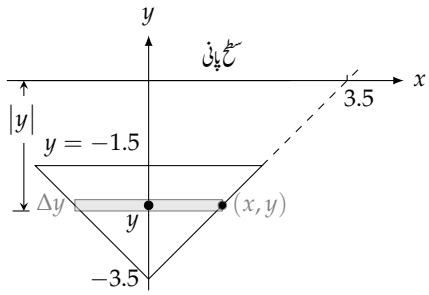

شکل ۶.۱۲۹: مثلث تختی (سوال ۶.۳۰۸)

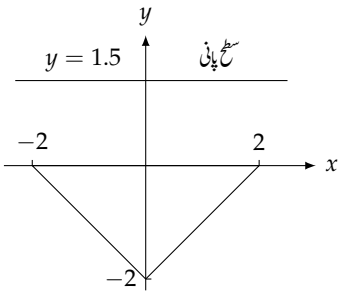

شکل ۶.۱۳۰: مثلث تختی (سوال ۶.۳۰۹)

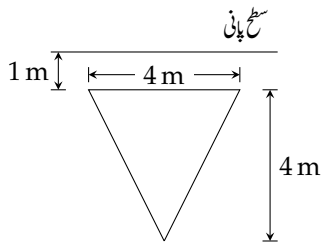

شکل ۶.۱۳۱: مثلث الساقین (سوال ۶.۳۱۲)

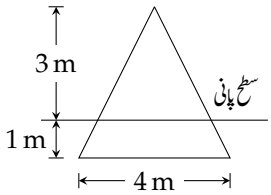

شکل ۶.۱۳۲: مثلث الساقین (سوال ۶.۳۱۳)

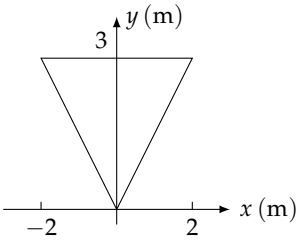

شکل ۶.۱۳۳: مثلث الساقین (سوال ۶.۳۱۴)

۹۲۲۵ ا. تختی کی ایک طرف پر قوت سیال تلاش کریں۔

۹۲۲۶ ب. اگر صاف پانی کے بجائے سمندری پانی ہو تب قوت سیال کتنی ہو گی؟ سمندری پانی کی کثافت $1029\ \mathrm{kg\,m^{-3}}$ ہے۔

۹۲۲۷ سوال ۶.۳۱۳: اگر گزشتہ سوال میں تختی کو تلا کے گرد آدھا چکر گھمایا جائے تب اس کا کچھ حصہ پانی سے باہر ہو گا (شکل ۶.۱۳۲)۔ اب تختی کی ایک طرف
۹۲۲۸ پر کتنی قوت سیال ہو گی؟

۹۲۲۹ سوال ۶.۳۱۴: ایک حوض کے سر مساوی الساقین مثلث ہیں (شکل ۶.۱۳۳)۔

۹۲۳۰ ا. پانی سے بھرے ہوئے حوض کے ایک سر پر قوت سیال تلاش کریں۔

۹۲۳۱ ب. حوض کے سر پر قوت کو آدھا کرنے کے لئے پانی کی سطح کو کتنا کم کرنا ہو گا؟

۹۲۳۲ ج. کیا حوض کی لمبائی سے حوض کے سر پر قوت سیال کا اثر ہو گا؟ اپنے جواب کی وجہ پیش کریں۔

۹۲۳۳ سوال ۶.۳۱۵: پانی کے حوض کے سر چوکور ہیں جہاں چوکور کا ضلع $2\ \mathrm{m}$ ہے۔

۹۲۳۴ ا. پانی سے بھرے ہوئے حوض کے ایک سر پر قوت سیال تلاش کریں۔

۹۲۳۵ ب. حوض کے سر پر قوت کو آدھا کرنے کے لئے پانی کی سطح کو کتنا کم کرنا ہو گا؟

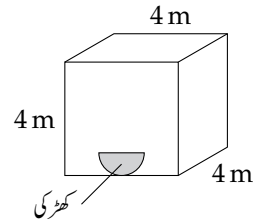

(ا) حوض میں کھڑکی۔

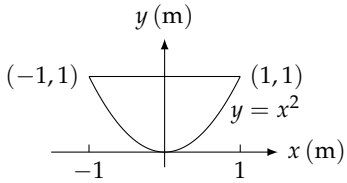

(ب) قطع مکافی کھڑکی کی تفصیل۔

شکل ۶.۱۳۴: حوض میں قطع مکافی کھڑکی (سوال ۶.۳۲۲)

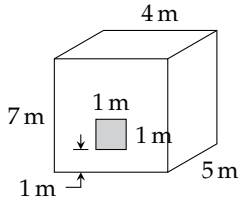

شکل ۶.۱۳۵: حوض میں چوکور کھڑکی (سوال ۶.۳۲۳)۔

ج. کیا حوض کی لمبائی سے حوض کے سر پر قوت سیال کا اثر ہوگا؟ اپنے جواب کی وجہ پیش کریں۔

سوال ۶.۳۱۶: مچھلیاں دیکھنے کے لئے ایک مچھلی گھر کی دیوار میں 2 m چوڑا اور 1 m اونچا شیشہ نسب ہے۔ شیشے کا تلا سطح پانی سے 1.25 m نیچے ہے۔ اس شیشے پر قوت پانی کتنی ہوگا۔ (سمندری پانی کی کثافت $1029\ \mathrm{kg\,m^{-3}}$ ہے۔)

سوال ۶.۳۱۷: مچھلیوں کے حوض کا تلا $1.5 \times 0.5\ \mathrm{m}$ اور اس کی گہرائی 0.75 m ہے۔ پانی کی سطح بالائی کنارے سے 5 cm نیچے ہے۔

ا. حوض کے اطراف پر قوت سیال دریافت کریں۔

ب. حوض کی تلا پر قوت سیال دریافت کریں۔

سوال ۶.۳۱۸: دودھ کے ڈبے کا تلا $10 \times 10\ \mathrm{cm}$ اور اس کا قد 20 cm ہے۔ دودھ سے بھرے ہوئے ڈبے کی ایک طرف پر قوت سیال معلوم کریں۔ کثافت دودھ کو $1032\ \mathrm{kg\,m^{-3}}$ لیں۔

سوال ۶.۳۱۹: زیتون کی تیل کے ڈبے کا تلا $12\ \mathrm{cm} \times 14$ اور قد 26.5 cm ہے۔ بھرے ہوئے ڈبے کی تلا اور ایک طرف پر قوت سیال تلاش کریں۔ زیتون کی تیل کی کثافت $930\ \mathrm{kg\,m^{-3}}$ لیں۔

سوال ۶.۳۲۰: ایک دائری تختی کا آدھا حصہ پانی میں انتصابی ڈوبا ہے۔ تختی کا رداس 0.25 m ہے۔ تختی کی ایک طرف پر قوت سیال تلاش کریں۔

سوال ۶.۳۲۱: دودھ کی فراہمی کے لئے ٹرک پر نسب 2 m قطر کا افقی بیلنی حوض استعمال کیا جاتا ہے۔ آدھے بھرے حوض کے ایک سر پر قوت سیال تلاش کریں۔

سوال ۶.۳۲۲: ایک مکعب حوض کی دیوار میں قطع مکافی کھڑکی دی گئی ہے جو 150 000 N کی قوت برداشت کر سکتی ہے (شکل ۶.۱۳۴)۔ اس حوض میں $25\,000\ \mathrm{kg\,m^{-3}}$ کثافت کا سیال بھرا جائے گا۔

ا. جب حوض میں سیال کی گہرائی 1.25 m ہو تب کھڑکی پر قوت سیال کتنا ہوگا؟

ب. حوض میں سیال کی کتنی گہرائی تک کھڑکی محفوظ ہوگی؟

سوال ۶.۳۲۳: پانی کی ایک مکعب حوض کی دیوار میں $1\ \mathrm{m} \times 1$ چوکور کھڑکی دی گئی ہے جو 40 000 N کی قوت برداشت کر سکتی ہے (شکل ۶.۱۳۵)۔

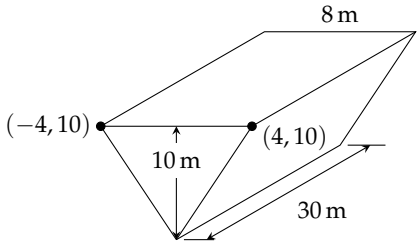

شکل ۶.۱۳۶: حوض کے آخری سر تکونی ہیں (سوال ۶.۳۲۴)۔

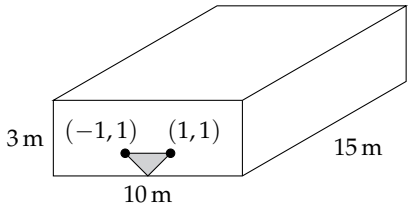

شکل ۶.۱۳۷: پانی کا مستطیل تالاب (سوال ۶.۳۲۵)

ا. اگر حوض میں پانی کی گہرائی 3 m ہو تب کھڑکی پر قوت سیال کتنا ہو گا؟

ب. حوض میں سیال کی کتنی گہرائی تک کھڑکی محفوظ ہو گی؟

سوال ۶.۳۲۴: پانی کے حوض کو شکل ۶.۱۳۶ میں دکھایا گیا ہے۔ حوض کے آخری تکونی سر 1 200 000 N قوت برداشت کر سکتے ہیں۔ حوض میں پانی کی وہ حجم تلاش کریں جس پر حوض کے تکونی سر اپنی برداشت کی حد پر ہوں گے۔

سوال ۶.۳۲۵: ایک مستطیل تالاب شکل ۶.۱۳۷ میں دکھایا گیا ہے جس کی ایک طرف میں تکونی کھڑکی دی گئی ہے جو 62 000 N کی قوت برداشت کر سکتی ہے۔ اس خالی تالاب میں $10\ \mathrm{m^3\ h^{-1}}$ سے پانی بھرا جا رہا ہے۔ تکونی کھڑکی کتنی دیر میں اپنی برداشت کی حد پر ہو گی؟

سوال ۶.۳۲۶: ایک انتصابی تختی جس کا قد a اور چوڑائی b ہے کو کثافت ρ کے سیال میں ڈبویا جاتا ہے۔ تختی کا بالائی کنارہ سطح سیال پر ہے۔ تختی کے کے لمبے کنارے پر اوسط فشار سیال کتنا ہو گا؟ اپنے جواب کی وجہ پیش کریں۔

سوال ۶.۳۲۷: دکھائیں کہ سوال ۶.۳۲۶ میں تختی کی ایک طرف پر قوت کی مقدار سوال ۶.۳۲۶ میں حاصل اوسط فشار ضرب تختی کا رقبہ ہو گا۔

۶.۱۰ بنیادی نقش اور دیگر نمونی استعمال

اس باب میں ریمان مجموعہ کے استعمال سے ہم نے چیزوں کا حساب کرنا سیکھا۔ یہ عمل درج ذیل تین اقدام پر مشتمل ہے۔

ا. مطلوبہ چیز کو ایک یا ایک سے زائد تفاعل سے ظاہر کیا جاتا ہے جو بند وقفہ $[a, b]$ پر استمراری ہوں۔

ب. وقفہ $[a, b]$ کی خانہ بندی کر کے ہر ذیلی وقفہ میں ایک نقطہ c_k منتخب کیا جاتا ہے۔ k ویں ذیلی وقفہ کی لمبائی Δx_k ہو گی۔

مطلوبہ چیز کی تخمینی قیمت کو مجموعہ کی صورت میں لکھا جاتا ہے۔

اس مجموعہ کی شناخت بطور وقفہ $[a, b]$ پر استمراری تفاعل کی ریمان مجموعہ کی جاتی ہے۔

ج. خانہ بندی کا معیار صفر کے قریب تر کرنے سے ریمان مجموعہ بہتر سے بہتر نتیجہ دے گا۔

ریمان مجموعہ کا حد قطعی تکمل ہو گا۔

قطعی تکمل استعمال کرتے ہوئے چیز کا حساب لگایا جاتا ہے۔

درج بالا اقدام سے لکیر کی لمبائی، خطے کا رقبہ، اجسام کا حجم، کام، وغیرہ کا حساب ممکن ہے۔

حقیقت میں انجینئری، حیاتیات، علم کیمیا، اقتصادیات، ارضیات، طب، اور دیگر شعبوں میں ہزاروں کی تعداد میں چیزوں کو ان اقدام سے حل کیا جا سکتا ہے۔

اس حصہ میں ان اقدام پر دوبارہ غور کیا جائے گا اور کئی نئے تکمل متعارف کیے جائیں گے جو ان اقدام سے پیدا ہوتے ہیں۔

فاصلہ بالمقابل ہٹاو

اگر کسی محددی لکیر پر ایک جسم کا مقام تفاعل $s(t)$ دیتا ہو اور یہ جسم ایک ہی سمت میں حرکت کرتا ہو تب $t = a$ سے $t = b$ تک جسم کے سمتی رفتار تفاعل $v(t)$ کا تکمل اس دورانیے میں طے شدہ فاصلہ دے گا۔ اگر جسم اس دورانیے میں سمت تبدیل کرتا ہو تب طے شدہ فاصل حاصل کرنے کے لئے ہمیں جسم کی رفتار $|v(t)|$ کا تکمل لینا ہو گا۔ جسم کی سمتی رفتار کا تکمل جسم کا **ہٹاو**[۲۷] $s(b) - s(a)$ دے گا جو اس کی ابتدائی اور اختتامی مقامات کے بیچ فاصلہ ہے۔

یہ دیکھنے کے لئے ہم وقتی وقفہ $a \leq t \leq b$ کی خانہ بندی کرتے ہیں جہاں k ویں وقفے کی لمبائی Δt_k ہے۔ اگر Δt_k بہت کم ہو تب دورانیہ t_{k-1} تا t_k جسم کی سمتی رفتار $v(t)$ میں تبدیلی قابل نظر انداز ہو گی لہٰذا اس ذیلی وقفے کی دائیں سر پر جسم کی سمتی رفتار $v(t_k)$ کو اس ذیلی وقفہ پر جسم کی سمتی رفتار تصور کیا جا سکتا ہے۔ یوں k ویں ذیلی وقفہ کے دوران جسم کے مقام میں تبدیلی درج ذیل ہو گی۔

$$v(t_k)\Delta t_k$$

اگر $v(t_k)$ مثبت ہو تب یہ تبدیلی مثبت ہو گی اور اگر $v(t_k)$ منفی ہو تب یہ تبدیلی منفی ہو گی۔ دونوں صورتوں میں k ویں ذیلی وقفہ میں جسم

$$|v(t_k)|\,\Delta t_k$$

فاصلہ طے کرے گا۔ یوں پورے وقفے پر جس کل درج ذیل فاصلہ طے کرے گا۔

$$\sum_{k=1}^{n} |v(t_k)|\,\Delta t_k \tag{۱}$$

مساوات ۱ میں مجموعہ، وقفہ $[a, b]$ پر تفاعل رفتار $|v(t)|$ کا ریمان مجموعہ ہے۔ ہم توقع کرتے ہیں کہ خانہ بندی کا معیار صفر کے قریب تر کرنے سے یہ تخمینی مجموعہ بہتر نتیجہ دے گا۔ یوں ایسا معلوم ہوتا ہے کہ وقفہ $[a, b]$ میں جسم کا طے شدہ فاصلہ حاصل کرنے کے لئے درج ذیل تکمل استعمال کیا جا سکتا ہے۔

$$\text{طے شدہ فاصلہ} = \int_a^b |v(t)|\,\mathrm{d}t \tag{۲}$$

یہ ریاضیاتی نمونہ ہر بار بالکل درست فاصلہ دیتا ہے۔

---

[۲۷] displacement

۹۶۹۲ اگر ہم جاننا چاہتے ہیں کہ وقتی دورانیے کی اختتام پر ابتدائی مقام سے جسم کتنا دور ہو گا تب ہم $v(t)$ کا تکمل نا کہ $|v(t)|$ کا تکمل لیں گے۔

۹۶۹۳ آئیں دیکھیں ایسا کیوں ہو گا۔ فرض کریں کی تفاعل $s(t)$ جسم کا مقام دیتا ہے اور F تفاعل v کا الٹ تفرق ہے۔ تب

$$s(t) = F(t) + C$$

۹۶۹۴ ہو گا جہاں C مستقل ہے۔ یوں لمحہ $t = a$ سے $t = b$ تک جسم کا ہٹاو

$$s(b) - s(a) = (F(b) + C) - (F(a) + C) = F(b) - F(a) = \int_a^b v(t)\,\mathrm{d}t$$

۹۶۹۵ ہو گا یعنی:

$$\text{ہٹاو} = \int_a^b v(t)\,\mathrm{d}t \qquad (۳)$$

۹۶۹۶ مثال ۶.۴۱: ایک لکیر پر لمحہ $t = 0$ سے لمحہ $t = \frac{3\pi}{2}\,\mathrm{s}$ تک ایک جسم کی رفتار $v(t) = 5\cos t\,\mathrm{m\,s^{-1}}$ ہے۔ یہ جسم کل کتنا فاصلہ
۹۶۹۷ طے کرتا ہے؟ اس کا کل ہٹاو کتنا ہو گا؟

۹۶۹۸ حل:

$$\begin{aligned}
\text{طے شدہ فاصلہ} &= \int_0^{\frac{3\pi}{2}} |5\cos t|\,\mathrm{d}t && \text{رفتار لا تکمل فاصلہ ہو گا}\\
&= \int_0^{\frac{\pi}{2}} 5\cos t\,\mathrm{d}t + \int_{\frac{\pi}{2}}^{\frac{3\pi}{2}} (-5\cos t)\,\mathrm{d}t\\
&= 5\sin t\Big]_0^{\frac{\pi}{2}} - 5\sin t\Big]_{\frac{\pi}{2}}^{\frac{3\pi}{2}}\\
&= 5(1-0) - 5(-1-1) = 5 + 10 = 15\,\mathrm{m}
\end{aligned}$$

۹۶۹۹

$$\begin{aligned}
\text{ہٹاو} &= \int_0^{\frac{3\pi}{2}} 5\cos t\,\mathrm{d}t && \text{سمتی رفتار کا تکمل ہٹاو ہو گا}\\
&= 5\sin t\Big]_0^{\frac{3\pi}{2}} = 5(-1) - 5(0) = -5\,\mathrm{m}
\end{aligned}$$

۹۷۰۰ اس دورانیے میں جسم $5\,\mathrm{m}$ آگے اور $10\,\mathrm{m}$ پیچھے سفر کرتا ہے۔ یوں یہ $15\,\mathrm{m}$ فاصل طے کرتا ہے جبکہ اس کا ہٹاو $-5\,\mathrm{m}$ ہو گا (شکل ۶.۱۳۸)۔
۹۷۰۱ □

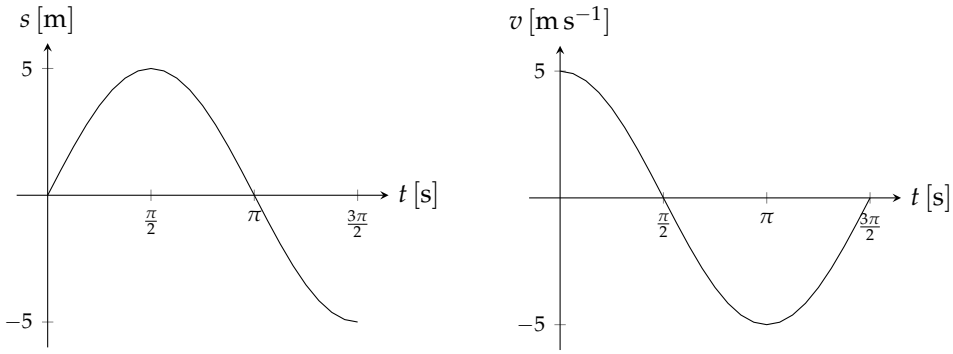

(ا) سمتی رفتار تفاعل۔ (ب) ابتدائی نقطہ $s(0)$ سے جسم کا ہٹاو۔

شکل ۶.۱۳۸: سمتی رفتار تفاعل اور ہٹاو (مثال ۶.۴۱)

قاعدہ دولس

آپ جانتے ہیں کہ چننے کے بعد سیب کا ذائقہ وقت کے ساتھ تبدیل ہوتا ہے۔ سیب میں شکر وقت کے ساتھ نشاستہ میں تبدیل ہوتا ہے۔ سیب میں نشاستہ کی مقدار معلوم کرنے کے لئے ہم سیب کا ایک باریک کتلے کو خوردبین میں دیکھتے ہیں۔ نشاستہ کے ہر دانہ کا سطح عمودی تراش خوردبین میں صاف نظر آتا ہے لہٰذا کتلے کی سطح میں نشاستہ کے رقبہ عمودی تراش کا تناسب معلوم کیا جا سکتا ہے۔ یہ دوبعدی تناسب سیب میں نشاستہ کے تین بعدی تناسب کے برابر ہو گا۔ دوبعدی اور تین بعدی تناسب کی یکسانیت اوسط قیمت کی تصور پر مبنی ہے۔

فرض کریں ہم کسی ٹھوس جسم میں دانہ دار مادہ کی تناسب جاننا چاہتے ہیں۔ ہم ٹھوس جسم سے موزوں نمونہ حاصل کرتے ہیں جس کو کاٹ کر ایک مکعب حاصل کیا جاتا ہے۔ اس مکعب کا ضلع L ہے۔ اس مکعب کو شکل ۶.۱۳۹ میں دکھایا گیا ہے جہاں مکعب کا ضلع x محور پر ہے۔ ہم وقفہ $[0, L]$ کے عمودی سطحوں سے اس مکعب کو کتلوں میں تقسیم کرتے ہیں۔ فرض کریں x پر دانہ دار مادے کے رقبے کا تناسب $r(x)$ ہے۔ فرض کریں کہ $r(x)$ متغیر x کا استمراری تفاعل ہے۔

اب وقفہ $[0, L]$ کی خانہ بندی کریں۔ نقطہ خانہ بندی پر x محور کے عمودی سطحوں سے مکعب کو کتلوں میں تقسیم کریں۔ k ویں ذیلی وقفے کی لمبائی Δx_k ہو گی جو نقطہ x_{k-1} اور نقطہ x_k پر موجود سطحوں کے بیچ فاصلہ ہو ہے۔ اگر یہ سطحیں کافی قریب ہوں تب یہ دانوں کو بیلنی شکل میں کاٹیں گے۔ ان بیلنوں کا قاعدہ x_k پر ہو گا۔ ان سطحوں کے بیچ دانہ دار مادہ کی حجمی تناسب وہی ہو گی جو x_k پر سطح میں دانہ دار مادہ کی سطحی تناسب ہے جو ان بیلنوں کے قاعدہ کے برابر ہے جو از خود تقریباً $r(x)$ ہو گا۔ یوں دو قریبی سطحوں کے بیچ دانہ دار مادہ کی مقدار درج ذیل ہو گی۔

$$(\text{تناسب}) \times (\text{کتلے کا حجم}) = r(x)L^2\Delta x_k$$

پورے مکعب میں دانہ دار مادہ کی مقدار

$$\sum_{k=1}^{n} r(x)L^2\Delta x_k$$

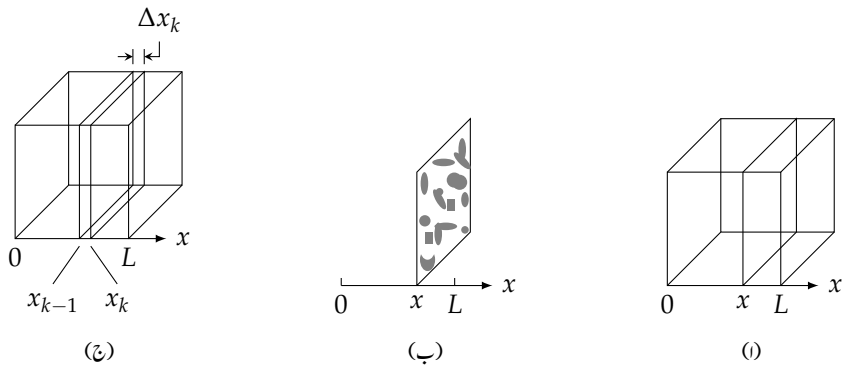

شکل ۶.۱۳۹: قاعدہ دوسل کے مراحل۔

ہو گی جو وقفہ $[0, L]$ پر تفاعل $r(x)L^2$ کا ریمان مجموعہ ہے۔ ہم توقع کرتے ہیں کہ خانہ بندی کا معیار صفر کے قریب پہنچانے سے یہ مجموعہ بہتر سے بہتر نتیجہ دے گا لہٰذا درج ذیل تکمل، جو ریمان مجموعہ کی حد کو ظاہر کرتا ہے، مکعب میں دانہ دار مادہ کی مقدار دے گا۔

$$\int_0^L r(x)L^2\,\mathrm{d}x$$

اس مقدار کو مکعب کے حجم L^3 سے تقسیم کرنے سے مکعب میں دانہ دار مادہ کی تناسب حاصل ہو گی۔ اگر ہم نے موزوں نمونی مکعب منتخب کیا ہو تب پورے ٹھوس جس میں دانہ دار مادہ کا تناسب وہی ہو گا جو اس نمونی مکعب میں ہے۔ یوں درج ذیل ہو گا۔

$$\begin{aligned}
\text{مکعب میں دانہ دار مادہ کا تناسب} &= \text{ٹھوس جسم میں دانہ دار مادہ کا تناسب}\\
&= \frac{\int_0^L r(x)L^2\,\mathrm{d}x}{L^3}\\
&= \frac{1}{L}\int_0^L r(x)\,\mathrm{d}x\\
&\text{نمائندہ سطح عمودی تراش میں دانہ دار مادے کا سطحی تناسب}
\end{aligned}$$

یہ **قاعدہ دولس**[۲۸] ہے جسے فرانسیسی ماہر ارضیات اشیلہ ارنسٹ دولس $[1817 - 1881]$ نے دریافت کیا۔ یوں وقفہ $[0, L]$ پر $r(x)$ کی اوسط قیمت $\bar{r}$ سے ٹھوس جسم میں دانہ دار مادے کا تناسب حاصل ہو گا۔ حقیقت میں کئی رقبہ عمودی تراش پر $\bar{r}$ حاصل کر کے ان کی اوسط لی جاتی ہے۔

جناب دولس پتھر میں دانہ دار مادہ کی تناسب میں دلچسپی رکھتے تھے۔ وہ نمونی پتھر کی ایک سطح کو اچھی طرح چمکدار بنا کر سطح کے برابر مومی کاغذ کو چمکیلی سطح پر رکھ کر دانہ دار خطوں کی نشاندہی کرتے۔ کاغذ کا وزن کرنے کے بعد، دانہ دار خطوں کو کاغذ سے کاٹ کر کاغذ کا وزن دوبارہ کرتے۔ یوں دانہ دار خطوں کے رقبہ کا تناسب حاصل کیا جاتا۔ یہ ترکیب آج بھی تیل کی تلاش میں استعمال کیا جاتا ہے۔

---

[۲۸] Delesse'srule

(ا) سطحی رقبہ مخروطی پٹیوں سے حاصل ہوتا ہے۔ (ب) سطحی رقبہ بیلنی پٹیوں سے حاصل نہیں ہوتا ہے۔

شکل ۶.۱۴۰: مخروط پٹی لینے سے کارآمد تکمل جبکہ بیلنی پٹی سے غیر کارآمد تکمل حاصل ہو گا۔

ناکارہ تکمل، ناکارہ نمونہ کشی

بعض اوقات ریمان مجموعہ سے حاصل تکمل ہمارے کسی کام کے نہیں ہوتا ہے۔ اس کا دارومدار مسئلے کی نمونہ کشی پر منحصر ہے۔ بعض طریقہ کار موزوں اور بعض غیر موزوں ہوتے ہیں۔ آئیں ایک غیر موزوں ریمان مجموعہ کی مثال دیکھیں۔

ہم شکل ۶.۱۴۰ میں سطحی رقبہ تلاش کرنا چاہتے ہیں۔ مخروطی ٹکیاں لینے سے شکل ۶.۱۴۰-ا حاصل ہوتا ہے جس سے سطحی رقبے کا کلیہ

$$S = \int_a^b 2\pi f(x)\sqrt{1+\left(\frac{\mathrm{d}f}{\mathrm{d}x}\right)^2}\,\mathrm{d}x \tag{۴}$$

حاصل ہوتا ہے۔ یہ کلیہ ہر بار بالکل درست نتیجہ دیتا ہے جو دیگر ذرائع سے حاصل معلومات کے عین مطابق ہوتا ہے۔

آئیں شکل ۶.۱۴۰-ب کی طرح بیلنی پٹیاں لے کر ریمان مجموعہ حاصل کر کے دیکھیں۔ یہ ریمان مجموعہ بھی مرتکز ہوتا ہے جو درج ذیل نسبتاً آسان تکمل دیتا ہے۔

$$S = \int_a^b 2\pi f(x)\,\mathrm{d}x \tag{۵}$$

ہم کہہ سکتے ہیں کہ حجم کی تلاش میں ہم نے بیلنی پٹیاں استعمال کیں لہٰذا یہاں بھی ان کا استعمال درست ہو گا۔ حقیقت میں مساوات ۵ کوئی پیش گوئی نہیں کرتا ہے اور نا ہی اس سے کبھی درست نتائج حاصل ہوتا ہیں جو دیگر تراکیب سے حاصل جوابات کے ساتھ مشابہت رکھتے ہوں۔ نمونہ کشی کے دوران موازنہ کے قدم پر یہ کلیہ ناکام ثابت ہوتا ہے۔

یاد رہے کہ اگر آپ ایک بہت اچھا نظر آنے والے تکمل حاصل کرنے میں کامیاب ہوں، اس کا یہ مطلب نہیں ہے کہ حاصل تکمل درست نتائج بھی دے گا۔ آپ کو تکمل کے نتائج کو پرکھنا بھی ہو گا۔

مسئلہ پاپس

وسطانی مراکز کا سطح طواف کے رقبہ اور جسم طواف کے حجم کے ساتھ تعلق کو **مسئلہ پاپس**[۲۹] پیش کرتا ہے[۳۰]۔

---

[۲۹] Pappus'stheorem

[۳۰] اسکندریا کا رہائشی قدیم یونانی ریاضی دان۔ مسائل پاپس تقریباً 1700 سال قدیم ہیں۔

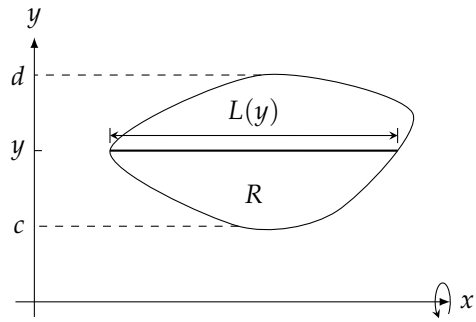

شکل ۶.۱۴۱: خطہ R کو ایک بار محور x کے گرد گھما کر جسم طواف پیدا کیا جاتا ہے۔

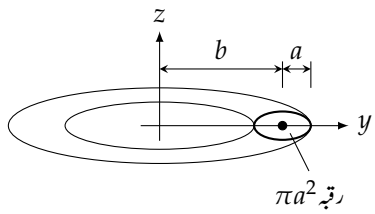

شکل ۶.۱۴۲: اندرسہ (مثال ۶.۴۲)

مسئلہ ۶.۱: **مسئلہ پاپس برائے حجم** اگر کسی مستوی خطہ کو سطح مستوی میں لکیر کے گرد گھمایا جائے جہاں خطے کو لکیر قطع نہ کرتی ہو تب جسم طواف کا حجم خطے کا رقبہ ضرب وہ فاصلہ جو ایک چکر کے دوران وسطانی نقطہ طے کرتا ہو کے برابر ہو گا۔ اگر خطے کا رقبہ S اور وسطانی نقطے کا محور سے فاصلہ ρ ہو تب جسم طواف کا حجم درج ذیل ہو گا۔

$$H = 2\pi\rho S \tag{۶}$$

ثبوت: ہم محور طواف کو محور x اور خطہ R کو ربع اول میں لیتے ہیں۔ ہم y پر، محور y کے عمودی، خطہ کے عمودی تراش کی لمبائی کو $L(y)$ سے ظاہر کرتے ہیں (شکل ۶.۱۴۱)۔ ہم فرض کرتے ہیں کہ $L(y)$ استمراری ہے۔ اس خطہ کو محور x کے گرد گھما کر جسم طواف پیدا کیا جاتا ہے۔

ہم نلکی خول کی ترکیب سے اس جسم طواف کا حجم تلاش کرتے ہیں۔

$$H = \int_c^d 2\pi(\text{رداس خول})(\text{قد خول})\,\mathrm{d}y = 2\pi\int_c^d yL(y)\,\mathrm{d}y \tag{۷}$$

خطہ R کے وسطانی مرکز کا y محدد

$$\int_c^d yL(y)\,\mathrm{d}y = S\bar{y}$$

ہو گا جس کو مساوات ۷ کے آخری تکمل میں پر کرنے سے $H = 2\pi\bar{y}S$ ملتا ہے۔ اس میں رداس $\bar{y}$ کو ρ سے ظاہر کرتے ہوئے $H = 2\pi\rho S$ حاصل ہوتا ہے۔

□

مثال ۶.۴۲: رداس a کے دائری قرص کو محور کے گرد گھما کر اندرسہ[۳۱] پیدا کیا جاتا ہے (شکل ۶.۱۴۲)۔ قرص کے مرکز اور محور کے بیچ فاصلہ $b \geq a$

[۳۱] torus

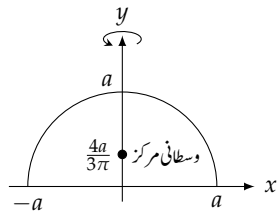

شکل ۶.۱۴۳: نصف کرہ کا وسطانی مرکز (مثال ۶.۴۳)

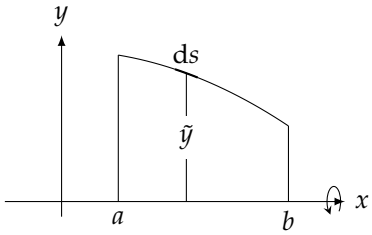

شکل ۶.۱۴۴: مسئلہ پاپس برائے سطحی رقبہ (مسئلہ ۶.۲)

ہے۔ اس اندر سہ کا حجم درج ذیل ہو گا۔

$$H = 2\pi(b)(\pi a^2) = 2\pi^2 b a^2$$

□

مثال ۶.۴۳: نصف کرہ کا وسطانی مرکز تلاش کریں۔

حل: ربع اول میں محور x اور نصف دائرہ $y = \sqrt{a^2 - x^2}$ کے بیچ خطہ کو محور y کے گرد گھمانے سے نصف کرہ حاصل ہوتا ہے (شکل ۶.۱۴۳)۔ تشاکلی کی وجہ سے وسطانی مرکز کا $\bar{x} = 0$ ہو گا۔ مساوات ۶ میں ρ کی جگہ $\bar{y}$ لکھتے ہوئے درج ذیل حاصل ہو گا۔

$$\bar{y} = \frac{H}{2\pi S} = \frac{\frac{2}{3}\pi a^3}{2\pi(\frac{1}{4}\pi a^2)} = \frac{4a}{3\pi}$$

□

مسئلہ ۶.۲: مسئلہ پاپس برائے سطحی رقبہ

اگر ایک ہموار مستوی منحنی کی قوس کو ایسی لکیر کے گرد ایک بار گھمایا جائے جو اس قوس کو قطع نہ کرتی ہو تب قوس کی لمبائی ضرب ایک چکر کے دوران قوس کی وسطانی مرکز کا طے شدہ فاصلہ، طواف قوس سے پیدا سطح کا رقبہ ہو گا۔ اگر محور طواف سے وسطانی مرکز کا فاصلہ ρ اور قوس کی لمبائی L ہو تب درج ذیل لکھا جائے گا۔

$$S = 2\pi\rho L \tag{۸}$$

اس مسئلے کی ثبوت میں ہم فرض کرتے ہیں کہ محور طواف کو محور x سے ظاہر کیا جا سکتا ہے اور قوس کو متغیر x کو استمراری تفاعل تصور کیا جا سکتا ہے۔

ثبوت: ہم محور x کو محور طواف لیتے ہیں اور ربع اول میں $x = a$ تا $x = b$ تک قوس پایا جاتا ہے۔ اس قوس کے طواف سے درج ذیل رقبہ حاصل ہو گا۔

$$S = \int_{x=a}^{x=b} 2\pi y \, \mathrm{ds} = 2\pi \int_{x=a}^{x=b} y \, \mathrm{ds} \tag{۹}$$

قوس کے وسطانی مرکز کا y محدد

$$\bar{y} = \frac{\int_{x=a}^{x=b} \tilde{y}\,\mathrm{d}s}{\int_{x=a}^{x=b} \mathrm{d}s} = \frac{\int_{x=a}^{x=b} y\,\mathrm{d}s}{L}$$

ہو گا جس کو مساوات ۹ کے آخری تکمل میں پر کرنے سے $S = 2\pi\bar{y}L$ ملتا ہے۔ رداس $\bar{y}$ کو ρ سے ظاہر کرتے ہوئے $S = 2\pi\rho L$ حاصل ہوتا ہے۔

□

مثال ۶.۴۴: اندر سے کا سطحی رقبہ (مثال ۶.۴۲ میں) درج ذیل ہو گا۔

$$S = 2\pi(b)(2\pi a) = 4\pi^2 ba$$

□

سوالات

فاصلہ اور ہٹاو

سوال ۶.۳۲۸ تا سوال ۶.۳۳۵ میں ایک جسم محددی لکیر پر سمتی رفتار $v(t)$ سے حرکت کرتا ہے۔ (ا) سمتی رفتار کو ترسیم کر کے دیکھیں کہاں یہ مثبت اور کہاں منفی ہے۔ (ب) اس کے بعد دیے گئے دورانیے میں طے شدہ فاصلہ تلاش کریں۔ (ج) جسم کا ہٹاو بھی تلاش کریں۔

سوال ۶.۳۲۸: $v(t) = 5\cos t, \quad 0 \le t \le 2\pi$

سوال ۶.۳۲۹: $v(t) = \sin \pi t, \quad 0 \le t \le 2$

سوال ۶.۳۳۰: $v(t) = 6\sin 3t, \quad 0 \le t \le \frac{\pi}{2}$

سوال ۶.۳۳۱: $v(t) = 4\cos 2t, \quad 0 \le t \le \pi$

سوال ۶.۳۳۲: $v(t) = 49 - 9.8t, \quad 0 \le t \le 10$

سوال ۶.۳۳۳: $v(t) = 8 - 1.6t, \quad 0 \le t \le 10$

سوال ۶.۳۳۴: $v(t) = 6t^2 - 18t + 12 = 6(t-1)(t-2), \quad 0 \le t \le 2$

سوال ۶.۳۳۵: $v(t) = 6t^2 - 18t + 12 = 6(t-1)(t-2), \quad 0 \le t \le 3$

سوال ۶.۳۳۶: تفاعل $s = \frac{t^3}{3} - 3t^2 + 8t$ محور s پر ایک جسم کا مقام دیتا ہے جہاں $t \ge 0$ ہے۔ (t کی اکائی سیکنڈ s اور s کی اکائی میٹر m ہے۔)

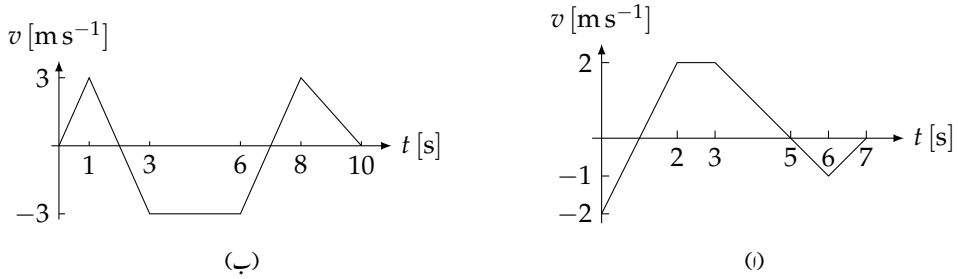

شکل ۶.۱۴۵: سمتی رفتار (سوال ۶.۳۳۸)

ا. دکھائیں کہ $t = 0$ پر جسم دائیں رخ حرکت کرتا ہے۔

ب. کب جسم بائیں رخ حرکت کرتا ہے۔

ج. لمحہ $t = 3$ پر جسم کا مقام معلوم کریں۔

د. لمحہ $t = 3$ تک جسم نے کل کتنا فاصلہ طے کیا ہو گا؟

ھ. تفاعل s بالمقابل t ترسیم کریں اور مقام جسم کی ترسیم کے ساتھ تعلق پر تبصرہ کریں۔

سوال ۶.۳۳۷: تفاعل $s = -t^3 + 6t^2 - 9t$ محور s پر ایک جسم کا مقام دیتا ہے جہاں $t \geq 0$ ہے۔ (t کی اکائی سیکنڈ s اور s کی اکائی میٹر m ہے۔)

ا. دکھائیں کہ $t = 0$ پر جسم بائیں رخ حرکت کرتا ہے۔

ب. کب جسم دائیں رخ حرکت کرتا ہے۔

ج. کیا جسم کبھی بھی مبدا کے دائیں جانب ہو گا؟ اپنے جواب کی وجہ پیش کریں۔

د. لمحہ $t = 3$ پر جسم کا مقام تلاش کریں۔

ھ. لمحہ $t = 3$ تک جسم نے کل کتنا فاصلہ طے کیا ہو گا؟

و. تفاعل s بالمقابل t ترسیم کریں اور مقام جسم کی ترسیم کے ساتھ تعلق پر تبصرہ کریں۔

سوال ۶.۳۳۸: دو اجسام محددی لکیر پر حرکت کرتے ہیں۔ ان اجسام کی سمتی رفتاروں کو شکل ۶.۱۴۵ میں دکھایا گیا ہے۔ دیے گئے وقفے کے لئے اجسام کتنا فاصلہ طے کرتے ہیں اور ان کا ہٹاو کتنا ہو گا؟

سوال ۶.۳۳۹: ایک نمونی ریل گاڑی کی 10 سیکنڈوں کے لئے پٹڑی پر آگے پیچھے حرکت درج ذیل ہے۔ قاعدہ سمسن سے کل فاصلہ اور ہٹاو تلاش کریں۔

سمتی رفتار	وقت	سمتی رفتار	وقت
-11	6	0	0
-6	7	12	1
2	8	22	2
6	9	10	3
0	10	-5	4
		-13	5

سطحی رقبہ کی نمونہ کشی

سوال ۶.۳۴۰: لکیر $y = \frac{x}{\sqrt{3}},\ 0 \le x \le \sqrt{3}$ کو محور x کے گرد گھما کر سطح طواف پیدا کیا جاتا ہے جس کا رقبہ

$$\text{سطح طواف} = \frac{1}{2}(\text{تلا کا محیط})(\text{ترچھا قد}) = \frac{1}{2}(2\pi)(2) = 2\pi$$

ہونا چاہیے۔ مساوات ۵ میں $f(x) = \frac{x}{\sqrt{3}}$ پر کرنے سے کیا حاصل ہوتا ہے؟

سوال ۶.۳۴۱: وہ واحد شکل جس کے لئے مساوات ۵ درست نتائج دیتا ہے بیلن ہے۔ لکیر $y = r,\ 0 \le x \le h$ کو محور x کر گرد گھما کر سطح طواف پیدا کریں۔ دکھائیں کہ مساوات ۵ سے اس سطح طواف کا رقبہ $S = 2\pi rh$ حاصل ہوتا ہے۔

سوال ۶.۳۴۲: ہر وہ جسم جو مائع میں تیرتا ہو اپنی کمیت کے برابر مائع کی جگہ لیتا ہے (اصول آرشمیدسی)۔ یوں ہٹائے گئے مائع کی کمیت معلوم کر کے اس جسم کی کمیت معلوم کی جا سکتی ہے۔ ایک کشتی کی کمیت جاننے کی خاطر ہم خط آب کو 10 برابر حصوں میں تقسیم کر کے نقطہ خانہ بندی پر کشتی کے ڈوبے ہوئے حصے کا رقبہ عمودی تراش $S(x)$ معلوم کرتے ہیں۔ اس کے بعد قاعدہ سمسن استعمال کر کے $S(x)$ کے تکمل کی تخمین تلاش کرتے ہیں۔ نقاط خانہ بندی پر ڈوبے ہوئے رقبے $S(x)$ درج ذیل ہیں جہاں نقطوں کے بیچ فاصلہ 1 m ہے اور رقبہ کی اکائی m^2 ہے۔

نقطہ	0	1	2	3	4	5	6	7	8	9	10
رقبہ	0	1.07	3.84	7.82	12.20	15.18	16.14	14.00	9.21	3.24	0

ا. ہٹائے گئے پانی کا حجم تلاش کریں۔

ب. یہ کشتی کتنی کمیت کا پانی ہٹاتی ہے؟ سمندری پانی کی کثافت $1029\ \mathrm{kg\,m^{-3}}$ ہے۔

مسئلہ پاپس

سوال ۶.۳۴۳: ایک چوکور خطہ کے راس $(0,2)$ ، $(2,0)$ ، $(4,2)$ اور $(2,4)$ ہیں۔ اس خطہ کو محور x کے گرد گھما کر ایک ٹھوس جسم طواف پیدا کیا جاتا ہے۔ اس جسم کا حجم اور سطحی رقبہ تلاش کریں۔

سوال ۶.۳۴۴: لکیر $2x + y = 6$ اور محددی لکیروں کے بیچ تکونی خطہ کو لکیر $x = 5$ کے گرد گھما کر جسم طواف پیدا کیا جاتا ہے۔ اس جسم کا حجم مسئلہ پاپس کی مدد سے معلوم کریں۔ (جیسا آپ صفحہ ۶۰۴ پر سوال ۶.۲۵۶ میں دیکھ چکے ہیں، تکون کے تین وسطانیوں کا نقطہ تقاطع تکون کا وسطانی مرکز ہو گا اور یہ قاعدہ کی وسطی نقطہ سے مخالف راس کی جانب لکیر پر ایک تہائی فاصلہ پر ہو گا۔)

سوال ۶.۳۴۵: دائرہ $(x-2)^2 + y^2 = 1$ کو محور y کے گرد گھما کر اندر سہ پیدا کیا جاتا ہے۔ اس اندر سہ کا حجم تلاش کریں۔

سوال ۶.۳۴۶: مسئلہ پاپس سے عمودی دائرہ مخروط کا سطحی رقبہ پہلو تلاش کریں۔

سوال ۶.۳۴۷: رداس a کے کرہ کا سطحی رقبہ $4\pi a^2$ ہوتا ہے۔ اس حقیقت کو استعمال کرتے ہوئے مسئلہ پاپس سے نصف دائرہ $y = \sqrt{a^2 - x^2}$ کا وسطانی مرکز معلوم کریں۔

سوال ۶.۳۴۸: آپ نے سوال ۶.۳۴۷ میں دریافت کیا کہ نصف دائرہ $y = \sqrt{a^2 - x^2}$ کا وسطانی مرکز $(0, \frac{2a}{\pi})$ ہے۔ اس نصف دائرہ کو لکیر $y = a$ کے گرد گھمایا جاتا ہے۔ حاصل سطح طواف کا سطحی رقبہ تلاش کریں۔

سوال ۶.۳۴۹: محور x اور $y = \frac{b}{a}\sqrt{a^2 - x^2}$ کے بیچ خطہ R کا رقبہ $\frac{1}{2}\pi ab$ ہے۔ خطہ R کو محور x کے گرد گھمانے سے حاصل جسم طواف کا حجم $\frac{4}{3}\pi ab^2$ ہے۔ خطہ R کا وسطانی مرکز تلاش کریں۔ آپ دیکھیں گے کہ یہ a پر منحصر نہیں ہو گا۔

سوال ۶.۳۵۰: محور x اور نصف دائرہ $y = \sqrt{a^2 - x^2}$ کے بیچ خطے کا وسطانی مرکز $(0, \frac{4a}{3\pi})$ ہے (مثال ۶.۴۳)۔ اس خطہ کو لکیر $y = -a$ کے گرد گھما کر جسم طواف پیدا کیا جاتا ہے۔ اس جسم طواف کا حجم تلاش کریں۔

سوال ۶.۳۵۱: لکیر $y = x - a$ کے گرد سوال ۶.۳۵۰ کا خطہ گھما کر ٹھوس جسم طواف پیدا کیا جاتا ہے۔ اس جسم کا حجم تلاش کریں۔

سوال ۶.۳۵۲: نصف دائرہ $y = \sqrt{a^2 - x^2}$ کا وسطانی مرکز $(0, \frac{2a}{\pi})$ ہے۔ اس نصف دائرہ کو لکیر $y = x - a$ کے گرد گھما کر سطح طواف پیدا کیا جاتا ہے۔ اس سطح طواف کا سطحی رقبہ تلاش کریں۔

سوال ۶.۳۵۳: محور x کے لحاظ سے مثال ۶.۴۳ کے نصف دائری خطہ کا معیار اثر تلاش کریں۔ اگر آپ پہلے سے جانتے ہوئے معلومات استعمال کریں تب آپ کو تکمل لینے کی ضرورت پیش نہیں آئے گی۔

باب ۷

ماورائی تفاعل

وہ تفاعل $y = f(x)$ جو درج ذیل روپ کی مساوات مطمئن کرتا ہو **الجبرائی**[1] کہلاتا ہے۔

$$P_n y^n + \cdots + P_1 y + P_0 = 0$$

اس مساوات میں تمام P متغیر x کے کثیر رکنی ہیں جہاں کثیر رکنیوں کے عددی سر ناطق ہیں۔ یوں $y = \frac{1}{\sqrt{x+1}}$ الجبرائی ہے چونکہ یہ مساوات $(x+1)y^2 - 1 = 0$ کو مطمئن کرتا ہے جس میں $P_2 = x+1$ ، $P_1 = 0$ اور $P_0 = -1$ ہیں۔ کثیر رکنی اور ناطق عددی سر والے ناطق تفاعل، الجبرائی ہوں گے۔ اسی طرح الجبرائی تفاعل کے مجموعے، حاصل ضرب، حاصل تقسیم، ناطق طاقت اور ناطق جذر بھی الجبرائی ہوں گے۔

وہ تفاعل جو الجبرائی نہیں ہوں **ماورائی**[2] کہلاتے ہیں۔ چھ بنیادی تکونیاتی تفاعل $\sin$ ، $\cos$ ، $\tan$ ، $\csc$ ، $\sec$ ، $\cot$ اور ان کے الٹ ماورائی ہیں۔ اسی طرح قوت نمائی تفاعل اور لوگارتھمی تفاعل بھی ماورائی تفاعل ہیں۔

وہ اعداد جو ناطق عددی سر والے کثیر رکنی مساوات کو مطمئن کرتے ہوں **الجبرائی** کہلاتے ہیں۔ چونکہ $x + 2 = 0$ مساوات -2 کو مطمئن کرتا ہے لہٰذا -2 الجبرائی عدد ہے۔ اسی طرح $x^2 - 3 = 0$ کو $\sqrt{3}$ مطمئن کرتا ہے لہٰذا $\sqrt{3}$ بھی الجبرائی عدد ہے۔ وہ اعداد جو الجبرائی نہ ہوں **ماورائی** کہلاتے ہیں۔ e اور π ماورائی اعداد ہیں۔

ریاضیات میں بہت سے تفاعل ایک دوسرے کے الٹ ہیں۔ غالباً سب سے زیادہ جانی پہچانی الٹ تفاعل کی جوڑی $\ln x$ اور e^x ہے۔ موزوں وقفہ پر پابند تکونیاتی تفاعل کے اہم الٹ پائے جاتے ہیں۔ پابند وقفہ پر تفاعل کو پابند شدہ تفاعل کہتے ہیں۔ اسی طرح لوگارتھمی اور قوت نمائی تفاعل کے دیگر الٹ جوڑیاں پائی جاتی ہیں۔ بذلولی تفاعل اور ان کے الٹ تفاعل کا استعمال آویزاں رسی، منتقلی حرکی توانائی، اور ہوا میں گرتے ہوئے جسم پر قوت رگڑ کے مسائل میں کام آتے ہیں۔ اس باب میں ان تمام تفاعل پر غور کیا جائے گا۔ ان مسئلوں کا بھی ذکر کیا جائے گا جنہیں یہ تفاعل حل کرنے میں مددگار ثابت ہوتے ہیں۔

---

[1] algebraic
[2] transcendental

۷.۱ الٹ تفاعل اور ان کے تفرقات

اس حصہ میں ہم الٹ تفاعل کی تعریف پیش کرتے ہیں اور ان کی کلیات، ترسیمات، اور الٹ جوڑیوں کے تفرق پر غور کرتے ہیں۔

ایک ایک تفاعل

تفاعل سے مراد وہ قاعدہ ہے جو اپنی دائرہ کار کے ہر نقطہ کو اپنی سعت میں ایک قیمت مختص کرتا ہو۔ بعض تفاعل ایک ہی قیمت کو ایک سے زیادہ نقطوں کے لئے مختص کرتے ہیں۔ یوں -1 کا مربع اور 1 کا مربع 1 ہے؛ اسی طرح $\frac{\pi}{3}$ اور $\frac{2\pi}{3}$ کا سائن $\frac{\sqrt{3}}{2}$ ہے۔ اس کے برعکس دیگر تفاعل کسی ایک قیمت کو کبھی بھی دو بار مختص نہیں کرتے ہیں۔ مختلف اعداد کے جذر المربع اور جذر المکعب ہر صورت ایک دوسرے سے مختلف ہوتے ہیں۔ ایسا تفاعل جس کے انفرادی نقطوں پر منفرد قیمت ہو کو **ایک ایک تفاعل**[۳] کہتے ہیں۔

تعریف: دائرہ کار D پر تفاعل $f(x)$ تب **ایک ایک** ہو گا جب $x_1 \neq x_2$ کی صورت میں $f(x_1) \neq f(x_2)$ ہو۔

□

مثال ۷.۱: چونکہ کسی بھی غیر منفی اعداد کے لئے $x_1 \neq x_2$ کی صورت میں $\sqrt{x_1} \neq \sqrt{x_2}$ ہے لہٰذا $f(x) = \sqrt{x}$ غیر منفی اعداد کے کسی بھی دائرہ کار پر یہ ایک ایک تفاعل ہے۔ □

مثال ۷.۲: چونکہ $\sin(\frac{\pi}{6}) = \sin(\frac{5\pi}{6})$ ہے لہٰذا وقفہ $[0, \pi]$ پر $g(x) = \sin x$ ایک ایک تفاعل نہیں ہے۔ اس کے برعکس چونکہ ربع اول میں تمام زاویوں کے سائن مختلف ہیں لہٰذا وقفہ $[0, \frac{\pi}{2}]$ پر $g(x) = \sin x$ ایک ایک تفاعل ہے۔ □

ایک ایک تفاعل $y = f(x)$ کی ترسیم کسی بھی افقی لکیر کو زیادہ سے زیادہ ایک مرتبہ قطع کرتی ہے۔ اگر کسی تفاعل کی ترسیم کسی افقی لکیر کو ایک سے زیادہ مرتبہ قطع کرتی ہو تب یہ تفاعل y کی اس قیمت کو ایک سے زیادہ مرتبہ اختیار کرتا ہے لہٰذا یہ ایک ایک تفاعل نہیں ہو گا (شکل ۷.۱)۔

افقی لکیر کا پرکھ

کوئی بھی تفاعل $y = f(x)$ صرف اور صرف اس صورت ایک ایک تفاعل ہو گا جب اس کی ترسیم ہر افقی لکیر کو زیادہ سے زیادہ ایک مرتبہ قطع کرتی ہو۔

الٹ

چونکہ ایک ایک تفاعل کا ہر مخارج انفرادی مداخل سے آتا ہے لہٰذا ایک ایک تفاعل کو الٹ کرتے ہوئے ہر مخارج کو واپس اس مداخل پر بھیجا جا سکتا ہے جس سے یہ مخارج حاصل ہوتا ہے (شکل ۷.۲)۔ ایک ایک تفاعل f کو الٹ کر کے جو تفاعل حاصل ہوتا ہے اس کو f کا **الٹ**[۴] کہتے ہیں جس کو f^{-1} سے ظاہر کیا جاتا ہے جہاں f^{-1} میں -1 کو طاقت نہ سمجھا جائے: یعنی $f(x)^{-1}$ سے مراد $\frac{1}{f(x)}$ نہیں ہے۔ ہم f^{-1} کو "f کا الٹ" پڑھتے ہیں۔

جیسا شکل ۷.۲ سے ظاہر ہے، f سے f^{-1} یا f^{-1} سے f حاصل کیا جا سکتا ہے۔ یوں کسی بھی x کے لئے $f(x)$ حاصل کر کے اس $f(x)$ کا الٹ $f^{-1}(f(x))$ حاصل کیا جا سکتا ہے جو x ہو گا۔ تفاعل $f^{-1}(f(x))$ یا تفاعل $f(f^{-1}(x))$ میں x پر کرنے سے واپس x ملتا

---

[۳] onetoonefunction
[۴] inverse

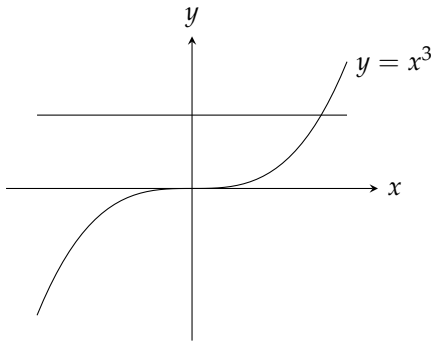

(ا) ایک ایک تفاعل۔

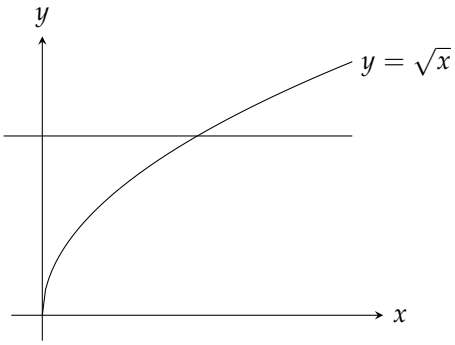

(ب) ایک ایک تفاعل۔

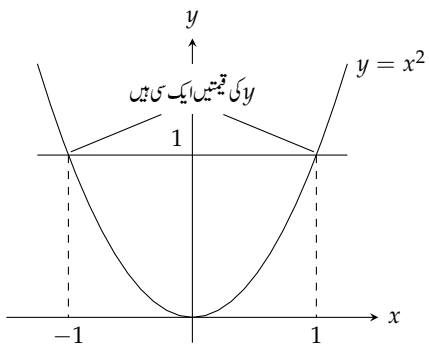

(ج) غیر ایک ایک تفاعل۔

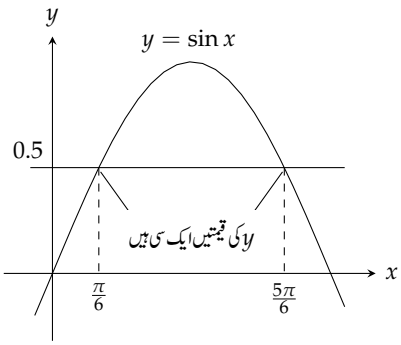

(د) غیر ایک ایک تفاعل۔

شکل ۱.۷: ایک ایک تفاعل کی ترسیم کسی بھی افقی لکیر کو زیادہ سے زیادہ ایک ب مرتبہ قطع کرتی ہے جبکہ غیر ایک ایک تفاعل کی ترسیم، ایک یا ایک سے زیادہ افقی لکیروں کو ایک سے زیادہ مرتبہ قطع کرتی ہے۔

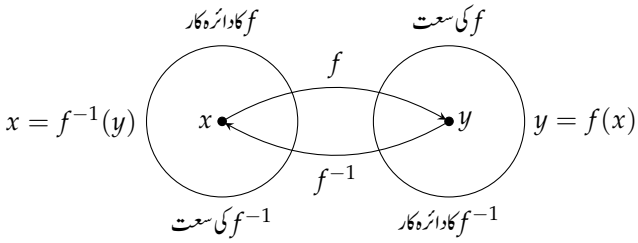

شکل ۲.۷: تفاعل f کا الٹ ہر مخارج کو واپس اس مداخل پر بھیجتا ہے جہاں سے وہ آیا۔

ہے۔ایسا تفاعل جو ہر عدد کو اسی عدد کے لئے مختص کرتا ہو **شناختی تفاعل**[۵] کہلاتا ہے۔یوں تفاعل f اور g کو ایک دوسرے کا الٹ تفاعل ہونے کے لئے پرکھا جا سکتا ہے۔اگر $(f \circ g)(x) = (g \circ f)(x) = x$ ہو تب f اور g ایک دوسرے کے الٹ تفاعل ہوں گے ورنہ یہ ایک دوسرے کے الٹ تفاعل نہیں ہوں گے۔اگر f اپنے دائرہ کار کا مکعب لیتا ہو تب g اس صورت f کا الٹ ہو گا اگر g جذر المکعب لیتا ہو ورنہ یہ f کا الٹ نہیں ہو گا۔

تفاعل f اور g ایک دوسرے کے الٹ صرف اور صرف اس صورت ہوں گے جب

$$f(g(x)) = x \quad \text{اور} \quad g(f(x)) = x$$

ہوں۔ایسی صورت میں $g = f^{-1}$ اور $f = g^{-1}$ ہوں گے۔

ایک تفاعل کا الٹ صرف اور صرف اس صورت ہو گا جب یہ ایک ایک تفاعل ہو۔یوں بڑھتے تفاعل کا الٹ تفاعل ہو گا اور گھٹتے تفاعل کا بھی الٹ تفاعل ہو گا۔ جن تفاعل کا تفرق مثبت ہو وہ اپنے دائرہ کار میں بڑھتے ہیں لہٰذا ان کا الٹ ہو گا (صفحہ ۲۹۴ پر مسئلہ اوسط قیمت کا ضمنی نتیجہ ۴.۳)۔اسی طرح جن تفاعل کا تفرق منفی ہو وہ اپنے دائرہ کار میں گھٹتے ہیں لہٰذا ان کا الٹ ہو گا۔

الٹ کی تلاش

تفاعل کے الٹ کی ترسیم کا تفاعل کی ترسیم کے ساتھ کیا تعلق ہے؟ فرض کریں ایک تفاعل کی ترسیم شکل کی طرح بڑھتا ہو، یعنی یہ بائیں سے دائیں اوپر اٹھتی ہو۔ کسی بھی x کے لئے ترسیم سے قیمت پڑھنے کے لئے ہم محور x پر نقطہ x سے شروع ہو کر محور y کے متوازی چل کر ترسیم تک پہنچتے ہیں اور یہاں سے محور x کے متوازی چل کر محور y تک پہنچ کر تفاعل کی قیمت y پڑھتے ہیں۔ہم اس عمل کو الٹ کرتے ہوئے y سے شروع کرتے ہوئے x پڑھ سکتے ہیں۔

تفاعل f کی ترسیم حاصل کرنے کی خاطر ہم f^{-1} کی ترسیم میں مداخل مخارج جوڑیوں کا کا آپس میں تبادلہ کرتے ہیں۔اس ترسیم کو عمومی طرز پر دکھانے کی خاطر ہمیں ان جوڑیوں کا 45° کی لکیر $y = x$ میں عکس لینا ہو گا اور ساتھ ہی حرف x اور حرف y کا ایک دوسرے کے ساتھ تبادلہ کرنا ہو گا۔یوں غیر تابع متغیر، جس کو اب x کہتے ہیں، افقی محور پر دکھایا جائے گا اور تابع متغیر، جس کو اب y کہتے ہیں، کو انتصابی محور پر دکھایا جائے گا۔تفاعل $f(c)$ اور $f^{-1}(x)$ کی ترسیمات لکیر $y = x$ کے لحاظ سے تشاکلی ہیں۔

شکل ۷.۳ میں f^{-1} کو متغیر x کا تفاعل لکھنا دکھایا گیا ہے جس کو درج ذیل بیان کیا جا سکتا ہے۔

ا. مساوات $y = f(x)$ کو x کے لئے حل کریں۔یوں x کو y کی صورت میں لکھا جائے گا۔

ب. جزو-ا میں حاصل مساوات میں x اور y کا آپس میں تبادلہ کریں۔یوں حاصل کلیہ $y = f^{-1}(x)$ ہو گا۔

مثال ۷.۳: تفاعل $y = \frac{x}{2} + 1$ کا الٹ حاصل کریں جہاں غیر تابع متغیر x ہو۔

حل: قدم ا: x کے لئے حل کرتے ہیں۔

$$\begin{aligned} y &= \frac{x}{2} + 1 \\ 2y &= x + 2 \\ x &= 2y - 2 \end{aligned}$$

---

[۵] identityfunction

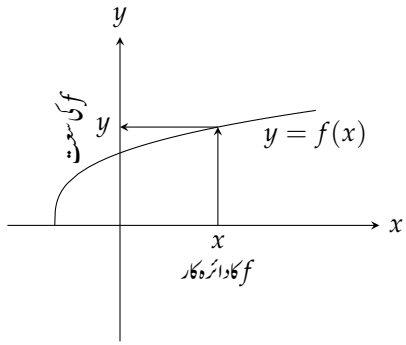

(ا) نقطہ x پر f کی قیمت جاننے کے لئے ہم x سے انتصابی رخ چلتے ہوئے ترسیم تک پہنچ کر افقی سمت محور y تک پہنچ کر درکار قیمت پڑھتے ہیں۔

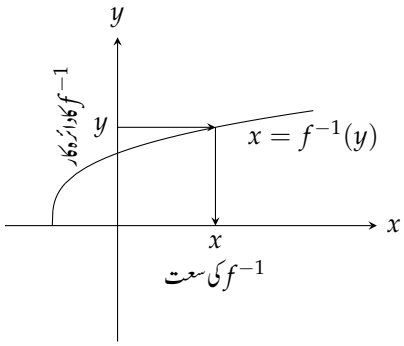

(ب)
تفاعل f کی ترسیم کو f^{-1} کی ترسیم تصور کیا جا سکتا ہے۔ وہ x جو y دیتا ہو کو تلاش کرنے کی خاطر، ہم y سے افقی رخ ترسیم تک اور پھر انتصابی رخ محور x تک پہنچ کر درکار x پڑھتے ہیں۔ f کا دائرہ کار f^{-1} کی سعت ہو گی جبکہ f کی سعت f^{-1} کا دائرہ کار ہو گا۔

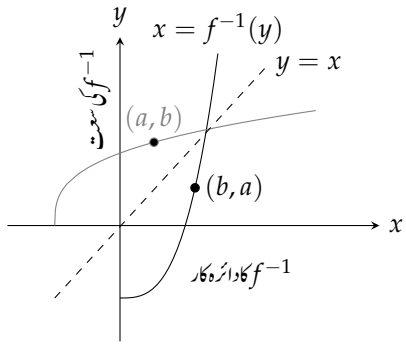

(ج) تفاعل f^{-1} کو ترسیم کرنے کی خاطر ہم f کا لکیر $y = x$ میں عکس لیتے ہیں۔

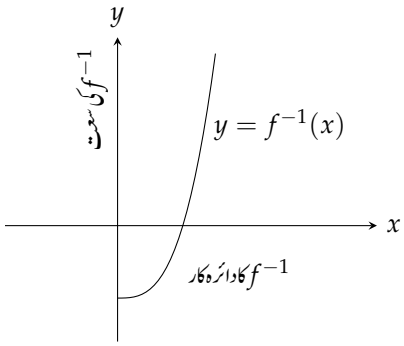

(د) آخر میں ہم حرف x اور حرف y کا آپس میں تبادلہ کرتے ہیں۔ یوں متغیر x کے تفاعل f^{-1} کی ترسیم حاصل ہوتی ہے۔

شکل ۷.۳: تفاعل f کے الٹ f^{-1} کی ترسیم۔

۹۹۰۵ قدم ب: حاصل مساوات میں x اور y کا آپس میں تبادلہ کرتے ہیں۔

$$y = 2x - 2$$

۹۹۰۶ یوں تفاعل $f(x) = \frac{x}{2} + 1$ کا الٹ تفاعل $f^{-1}(x) = 2x - 2$ ہوگا۔

۹۹۰۷ اس کی تصدیق کرنے کی خاطر ہم دیکھتے ہیں کہ آیا دونوں مرکب تفاعل شناختی تفاعل دیتے ہیں:

$$f^{-1}(f(x)) = 2\left(\frac{x}{2} + 1\right) - 2 = x + 2 - 2 = x$$
$$f(f^{-1}(x)) = \frac{1}{2}(2x - 2) + 1 = x - 1 + 1 = x$$

۹۹۰۸ □

۹۹۰۹ مثال ۷.۴: تفاعل $y = x^2,\ x \geq 0$ کا الٹ تلاش کریں جہاں غیر تابع متغیر x ہو۔

۹۹۱۰ حل: قدم ا: دیے گئے مساوات کو حل کر کے x کو y کی صورت میں لکھتے ہیں۔

$$y = x^2$$
$$\sqrt{y} = \sqrt{x^2} = |x| = x \qquad x \geq 0 \text{ کی وجہ سے } |x| = x \text{ ہوگا}$$

۹۹۱۱ قدم ب: جزو-ا میں حاصل نتیجہ میں x اور y کا آپس میں تبادلہ کرتے ہیں۔

$$y = \sqrt{x}$$

۹۹۱۲ یوں تفاعل $y = x^2,\ x \geq 0$ کا الٹ $y = \sqrt{x}$ ہوگا (شکل ۷.۴)۔

۹۹۱۳ یہاں دھیان رہے کہ پابند تفاعل $y = \sqrt{x},\ x \geq 0$ ایک ایک تفاعل ہے لہٰذا اس کا الٹ پایا جاتا ہے جبکہ تفاعل $y = x^2$ ایک غیر پابند تفاعل
۹۹۱۴ ہے جو ایک ایک تفاعل نہیں ہے لہٰذا اس کا الٹ نہیں پایا جاتا ہے۔ □

۹۹۱۵ کمپیوٹر کا استعمال

۹۹۱۶ تفاعل $y = f(x)$ کا الٹ تفاعل نہایت آسانی سے درج ذیل مقدار معلوم روپ استعمال کرتے ہوئے ترسیم کیا جا سکتا ہے۔

$$x(t) = f(t), \quad y(t) = t$$

۹۹۱۷ آپ تفاعل اور تفاعل کے الٹ کو ساتھ ساتھ ترسیم کر سکتے ہیں:

تفاعل	$x_1(t) = t, \quad y_1(t) = f(t)$
تفاعل کا الٹ	$x_2(t) = f(t), \quad y_2(t) = t$

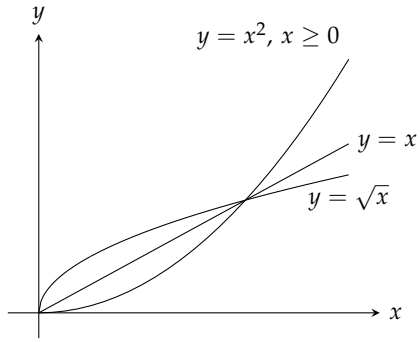

شکل ۷.۴: تفاعل $y = \sqrt{x}$ اور $y = x^2,\ x \geq 0$ ایک دوسرے کے الٹ ہیں (مثال ۷.۴)۔

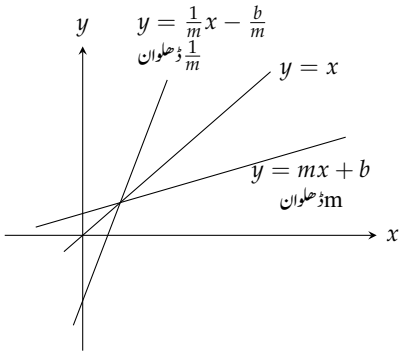

شکل ۷.۵: لکیر $y = x$ میں منعکس غیر انتصابی لکیروں کے ڈھلوان ایک دوسرے کے بالعکس متناسب ہوتے ہیں۔

۹۹۱۸ اس سے بھی زیادہ بہتر ہوگا کہ تفاعل، تفاعل کا الٹ اور شناختی تفاعل $y = x$ کو ساتھ ساتھ ترسیم کریں جہاں شناختی تفاعل درج ذیل ہوگا۔

$$x_3(t) = t, \quad y_3(t) = t \qquad \text{شناختی تفاعل}$$

۹۹۱۹ تفاعل $y = \frac{x^5}{x^2+1}$ اور $y = x + \cos x$ کے ساتھ ان کے الٹ تفاعل اور شناختی تفاعل ایک ساتھ ترسیم کر کے دیکھیں۔ ترسیم میں x اور y
۹۹۲۰ محور کے اکائی فاصلے برابر نظر آنے چاہیے تاکہ لکیر $y = x$ کے لحاظ سے تفاعل اور اس کا الٹ تشاکلی نظر آئیں۔

۹۹۲۱ قابل تفرق تفاعل کے الٹ کے تفرق

۹۹۲۲ تفاعل $f(x) = \frac{x}{2} + 1$ اور اس کے الٹ $f^{-1}(x) = 2x - 2$ (مثال ۷.۳) کے تفرق درج ذیل ہیں۔

$$\frac{\mathrm{d}}{\mathrm{d}x} f(x) = \frac{\mathrm{d}}{\mathrm{d}x}\left(\frac{x}{2} + 1\right) = \frac{1}{2}$$
$$\frac{\mathrm{d}}{\mathrm{d}x} f^{-1}(x) = \frac{\mathrm{d}}{\mathrm{d}x}(2x - 2) = 2$$

۹۹۲۳ یہ تفرقات ایک دوسرے کے بالعکس متناسب ہیں۔ تفاعل f کی ترسیم لکیر $y = \frac{x}{2} + 1$ اور f^{-1} کی ترسیم لکیر $y = 2x - 2$ ہے۔ ان
۹۹۲۴ لکیروں کے ڈھلوان ایک دوسرے کے بالعکس متناسب ہیں (شکل ۷.۵)۔

۹۹۲۵ یہ نتیجہ کسی مخصوص تفاعل کے لئے نہیں ہے۔ لکیر $y = x$ میں کسی بھی غیر افقی یا غیر انتصابی لکیر کے عکس کا ڈھلوان اس لکیر کے ڈھلوان کے بالعکس
۹۹۲۶ متناسب ہوگا۔ یوں اگر دیے گئے لکیر کا ڈھلوان $m \neq 0$ (شکل ۷.۵) ہو تب منعکس لکیر کا ڈھلوان $\frac{1}{m}$ ہوگا (سوال ۷.۳۶)۔

۹۹۲۷ تفاعل اور اس کے الٹ کے ڈھلوانوں کا بالعکس متناسب تعلق دیگر تفاعل کو بھی مطمئن کرتا ہے۔ اگر نقطہ $(a, f(a))$ پر $y = f(x)$ کا ڈھلوان
۹۹۲۸ $f'(a) \neq 0$ ہو تب مطابقتی نقطہ $(f(a), a)$ پر $y = f^{-1}(x)$ کا ڈھلوان $\frac{1}{f'(a)}$ ہوگا (شکل ۷.۶)۔ یوں نقطہ $f(a)$ پر f^{-1} کا

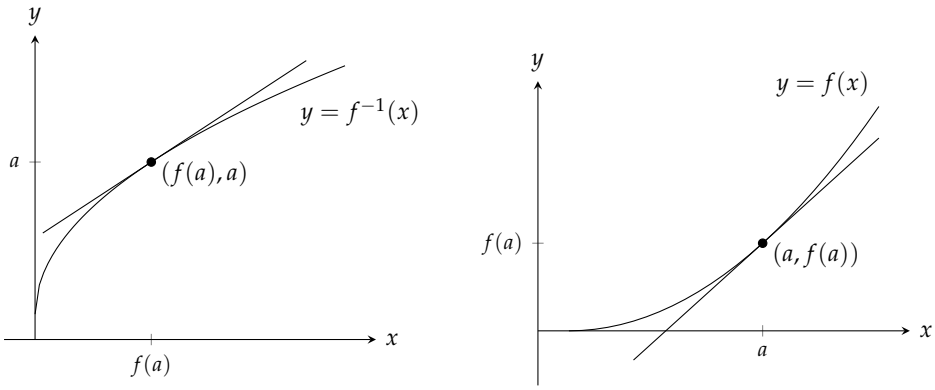

شکل ۷.۶: الٹ تفاعل کے مطابقتی نقطوں پر ڈھلوان ایک دوسرے کا بالعکس متناسب $\left.\frac{\mathrm{d}f^{-1}}{\mathrm{d}x}\right|_{f(a)} = \frac{1}{\left.\frac{\mathrm{d}f}{\mathrm{d}x}\right|_a}$ ہوں گے۔

تفرق، نقطہ a پر f کے تفرق کا بالعکس متناسب ہوگا۔ یہ تعلق اس صورت درست ہوگا جب f درج ذیل مسئلہ میں پیش شرائط کو مطمئن کرتا ہو۔ یہ شرائط اعلیٰ احصاء سے حاصل ہوتے ہیں۔

مسئلہ ۷.۱: **الٹے تفاعل کے تفرق کا قاعدہ**

اگر وقفہ I کے ہر نقطہ پر f قابل تفرق ہو اور I پر $\frac{\mathrm{d}f}{\mathrm{d}x}$ کبھی بھی صفر نہ ہو، تب وقفہ $f(I)$ کے ہر نقطہ پر f^{-1} قابل تفرق ہوگا۔ کسی ایک مخصوص نقطہ $f(a)$ پر $\frac{\mathrm{d}f^{-1}}{\mathrm{d}x}$ کا تفرق نقطہ a پر تفرق $\frac{\mathrm{d}f}{\mathrm{d}x}$ کا بالعکس متناسب ہوگا:

$$\left(\frac{\mathrm{d}f^{-1}}{\mathrm{d}x}\right)_{x=f(a)} = \frac{1}{\left(\frac{\mathrm{d}f}{\mathrm{d}x}\right)_{x=a}} \tag{۱}$$

اس کو مختصراً درج ذیل لکھا جا سکتا ہے۔

$$(f^{-1})' = \frac{1}{f'} \tag{۲}$$

مثال ۷.۵: تفاعل $f(x) = x^2,\ x \geq 0$ اور اس کے الٹ $f^{-1}(x) = \sqrt{x}$ کے لئے درج ذیل لکھا جا سکتا ہے۔

$$\frac{\mathrm{d}f}{\mathrm{d}x} = \frac{\mathrm{d}}{\mathrm{d}x}(x^2) = 2x, \quad \frac{\mathrm{d}f^{-1}}{\mathrm{d}x} = \frac{\mathrm{d}}{\mathrm{d}x}\sqrt{x} = \frac{1}{2\sqrt{x}},\ x > 0$$

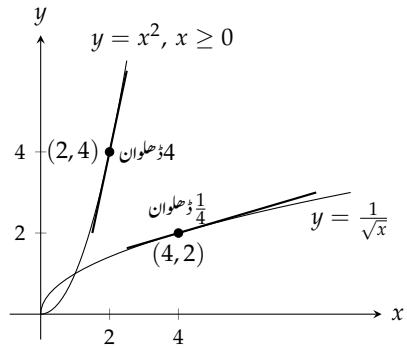

شکل ۷.۷: نقطہ $(4,2)$ پر $f^{-1}(x) = \sqrt{x}$ کا تفرق نقطہ $(2,4)$ پر $f(x) = x^2$ کے تفرق کا بالعکس متناسب ہوگا (مثال ۷.۵)۔

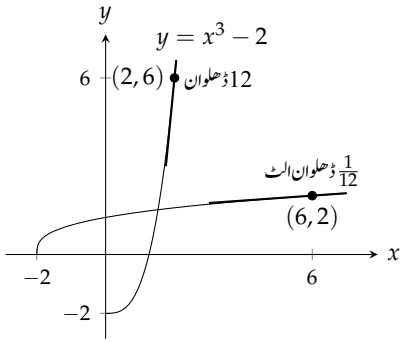

شکل ۷.۸: نقطہ $x = 2$ پر $f(x) = x^3 - 2$ کا تفرق ہمیں نقطہ $x = 6$ پر f^{-1} کا تفرق دیتا ہے (مثال ۷.۶)۔

۹۹۳۷ نقطہ $(4,2)$ لکیر $y = x$ کی دوسری طرف نقطہ $(2,4)$ کا عکس ہے (شکل ۷.۷)۔ ان نقطوں پر درج ذیل حاصل ہوگا۔

$$\frac{\mathrm{d}f}{\mathrm{d}x} = 2x = 2(2) = 4 \qquad \text{نقطہ } (2,4) \text{ پر}$$

$$\frac{\mathrm{d}f^{-1}}{\mathrm{d}x} = \frac{1}{2\sqrt{x}} = \frac{1}{2\sqrt{4}} = \frac{1}{4} = \frac{1}{\mathrm{d}f/\,\mathrm{d}x} \qquad \text{نقطہ } (4,2) \text{ پر}$$

۹۹۳۸ □

۹۹۳۹ بعض اوقات f^{-1} کا کلیہ نہ جانتے ہوئے بھی مساوات ۱ کی مدد سے $\frac{\mathrm{d}f^{-1}}{\mathrm{d}x}$ کی مخصوص قیمتیں تلاش کی جا سکتی ہیں۔

۹۹۴۰ مثال ۷.۶: مان لیں $f(x) = x^3 - 2$ ہے۔ $f^{-1}(x)$ کا کلیہ دریافت کیے بغیر نقطہ $x = 6 = f(2)$ پر $\frac{\mathrm{d}f^{-1}}{\mathrm{d}x}$ کی قیمت تلاش
۹۹۴۱ کریں۔

۹۹۴۲ حل: (شکل ۷.۸)

$$\left.\frac{\mathrm{d}f}{\mathrm{d}x}\right|_{x=2} = \left.3x^2\right|_{x=2} = 12$$

$$\left.\frac{\mathrm{d}f^{-1}}{\mathrm{d}x}\right|_{x=f(2)} = \frac{1}{12} \qquad \text{مساوات ۱}$$

۹۹۴۳ □

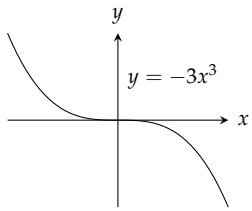

شکل ۷.۹: ترسیم سوال ۷.۱

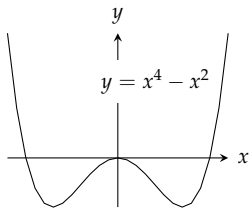

شکل ۷.۱۰: ترسیم سوال ۷.۲

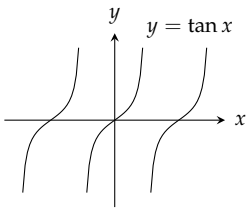

شکل ۷.۱۱: ترسیم سوال ۷.۳

مسئلہ ۷.۱ کو ایک مختلف نقطہ نظر سے دیکھا جا سکتا ہے۔ اگر $x = a$ پر $y = f(x)$ قابل تفرق ہو اور ہم x کی قیمت میں معمولی تبدیلی $\mathrm{d}x$ لائیں تب y میں مطابقتی تبدیلی تخمیناً

$$\mathrm{d}y = f'(a)\,\mathrm{d}x$$

ہو گا۔ اس کا مطلب ہے کہ y کی تبدیلی، x کی تبدیلی کے تقریباً $f'(a)$ گنّا ہو گی اور x کی تبدیلی، y کی تبدیلی کے تقریباً $\frac{1}{f'(a)}$ گنّا ہو گی۔

سوالات

ایک ایک تفاعل کی نشاندہی

سوال ۷.۱ تا سوال ۷.۶ میں تفاعل کی ترسیمات دی گئی ہیں۔ ان میں ایک ایک تفاعل کی نشاندہی کریں۔

سوال ۷.۱: ترسیم شکل ۷.۹ میں دی گئی ہے۔

سوال ۷.۲: ترسیم شکل ۷.۱۰ میں دی گئی ہے۔

سوال ۷.۳: ترسیم شکل ۷.۱۱ میں دی گئی ہے۔

سوال ۷.۴: ترسیم شکل ۷.۱۲ میں دی گئی ہے۔

سوال ۷.۵: ترسیم شکل ۷.۱۳ میں دی گئی ہے۔

سوال ۷.۶: ترسیم شکل ۷.۱۴ میں دی گئی ہے۔

الٹے تفاعل کی ترسیم

سوال ۷.۷ تا سوال ۷.۱۰ میں $y = f(x)$ کی ترسیم دی گئی ہے۔ اس کو نقل کر کے لکیر $y = x$ بھی بنائیں۔ لکیر $y = x$ کے لحاظ سے تشاکلی استعمال کرتے ہوئے $y = f^{-1}(x)$ ترسیم کریں۔ (f^{-1} کا کلیہ معلوم کرنے کی ضرورت نہیں ہے۔) f^{-1} کے دائرہ کار اور سعت کی نشاندہی کریں۔

سوال ۷.۷: تفاعل کی ترسیم شکل ۷.۱۵ میں دی گئی ہے۔

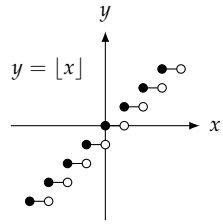

شکل ۷.۱۲: ترسیم سوال ۷.۴

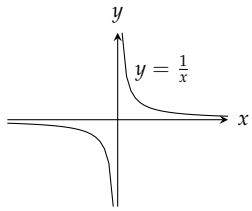

شکل ۷.۱۳: ترسیم سوال ۷.۵

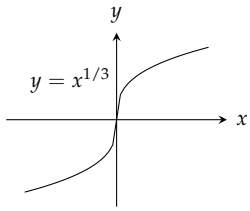

شکل ۷.۱۴: ترسیم سوال ۷.۶

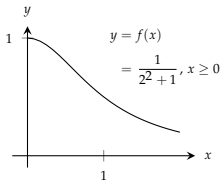

شکل ۷.۱۵: ترسیم سوال ۷.۷

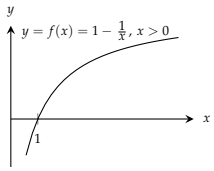

شکل ۷.۱۶: ترسیم سوال ۷.۸

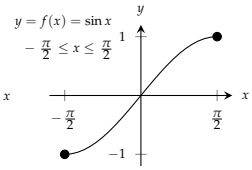

شکل ۷.۱۷: ترسیم سوال ۷.۹

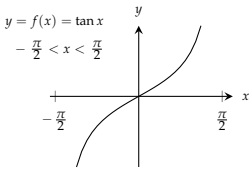

شکل ۷.۱۸: ترسیم سوال ۷.۱۰

۹۹۶۲ سوال ۷.۸: تفاعل کی ترسیم شکل ۷.۱۶ میں دی گئی ہے۔

۹۹۶۳ سوال ۷.۹: تفاعل کی ترسیم شکل ۷.۱۷ میں دی گئی ہے۔

۹۹۶۴ سوال ۷.۱۰: تفاعل کی ترسیم شکل ۷.۱۸ میں دی گئی ہے۔

۹۹۶۵

۹۹۶۶ سوال ۷.۱۱: (ا) تفاعل $f(x) = \sqrt{1-x^2}, 0 \leq x \leq 1$ ترسیم کریں۔ اس ترسیم میں کون سی تشاکلی پائی جاتی ہے؟ (ب) دکھائیں کہ
۹۹۶۷ f اپنا ہی الٹ ہے۔ (یاد رہے کہ $\sqrt{x^2} = x$ کی صورت میں $x \geq 0$ ہوتا ہے۔)

۹۹۶۸ سوال ۷.۱۲: (ا) تفاعل $f(x) = \frac{1}{x}$ ترسیم کریں۔ اس ترسیم میں کون سی تشاکلی پائی جاتی ہے؟ (ب) دکھائیں کہ f اپنا ہی الٹ ہے۔

۹۹۶۹ الٹے تفاعل کے کلیات

۹۹۷۰ سوال ۷.۱۳ تا سوال ۷.۱۸ میں تفاعل $y = f(x)$ کا کلیہ دیا گیا ہے۔ f اور f^{-1} کی ترسیمات بھی دکھائی گئی ہیں۔ f^{-1} کا کلیہ تلاش کریں۔

۹۹۷۱ سوال ۷.۱۳: $f(x) = x^2 + 1, \quad x \geq 0$ ترسیم شکل ۷.۱۹ میں دی گئی ہے۔

۹۹۷۲ سوال ۷.۱۴: $f(x) = x^2, \quad x \leq 0$ ترسیم شکل ۷.۲۰ میں دی گئی ہے۔

۹۹۷۳ سوال ۷.۱۵: $f(x) = x^3 - 1$ ترسیم شکل ۷.۲۱ میں دی گئی ہے۔

۹۹۷۴ سوال ۷.۱۶: $f(x) = x^2 - 2x + 1, \quad x \geq 1$ ترسیم شکل ۷.۲۲ میں دی گئی ہے۔

۹۹۷۵ سوال ۷.۱۷: $f(x) = (x+1)^2, \quad x \geq -1$ ترسیم شکل ۷.۲۳ میں دی گئی ہے۔

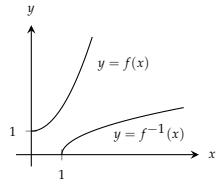

شکل ۷.۱۹: ترسیم سوال ۷.۱۳

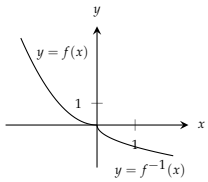

شکل ۷.۲۰: ترسیم سوال ۷.۱۴

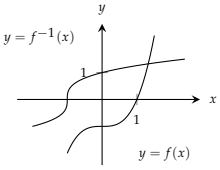

شکل ۷.۲۱: ترسیم سوال ۷.۱۵

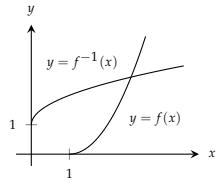

شکل ۷.۲۲: ترسیم سوال ۷.۱۶

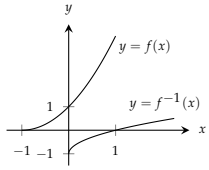

شکل ۷.۲۳: ترسیم سوال ۷.۱۷

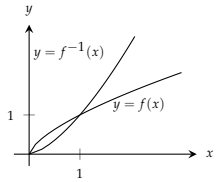

شکل ۷.۲۴: ترسیم سوال ۷.۱۸

۹۹۷۶ سوال ۷.۱۸: $f(x) = x^{2/3}, \quad x \geq 0$ ترسیم شکل ۷.۲۴ میں دی گئی ہے۔

۹۹۷۷

۹۹۷۸ سوال ۷.۱۹ تا سوال ۷.۲۴ میں تفاعل $y = f(x)$ کا کلیہ دیا گیا ہے۔ f^{-1} دریافت کریں اور اس کے دائرہ کار اور سعت کی نشاندہی کریں۔ تصدیق کی
۹۹۷۹ خاطر دکھائیں کہ $f(f^{-1}(x)) = f^{-1}(f(x)) = x$ ہے۔

۹۹۸۰ سوال ۷.۱۹: $f(x) = x^5$

۹۹۸۱ سوال ۷.۲۰: $f(x) = x^4, \quad x \geq 0$

۹۹۸۲ سوال ۷.۲۱: $f(x) = x^3 + 1$

۹۹۸۳ سوال ۷.۲۲: $f(x) = \frac{x}{2} - \frac{7}{2}$

۹۹۸۴ سوال ۷.۲۳: $f(x) = \frac{1}{x^2}, \quad x > 0$

۹۹۸۵ سوال ۷.۲۴: $f(x) = \frac{1}{x^3}, \quad x \neq 0$

۹۹۸۶ **الٹے تفاعل کے تفرق**

۹۹۸۷ سوال ۷.۲۵ تا سوال ۷.۲۸ میں درج ذیل اقدام کریں۔

۹۹۸۸ ا. $f^{-1}(x)$ تلاش کریں۔

۹۹۸۹ ب. f اور f^{-1} کو ایک ساتھ ترسیم کریں۔

ج. نقطہ $x = a$ پر $\frac{\mathrm{d}f}{\mathrm{d}x}$ اور نقطہ $x = f(a)$ پر $\frac{\mathrm{d}f^{-1}}{\mathrm{d}x}$ کی قیمت حاصل کریں۔ تصدیق کریں کہ ان نقطوں پر $\frac{\mathrm{d}f^{-1}}{\mathrm{d}x} = \frac{1}{\left(\frac{\mathrm{d}f}{\mathrm{d}x}\right)}$ ہو گا۔

سوال ۷.۲۵: $f(x) = 2x + 3, \quad a = -1$

سوال ۷.۲۶: $f(x) = \frac{x}{5} + 7, \quad a = -1$

سوال ۷.۲۷: $f(x) = 5 - 4x, \quad a = \frac{1}{2}$

سوال ۷.۲۸: $f(x) = 2x^2, \quad x \geq 0, \quad a = 5$

سوال ۷.۲۹:

۱. دکھائیں کہ $f(x) = x^3$ اور $g(x) = \sqrt[3]{x}$ ایک دوسرے کے الٹ ہیں۔

۲. f اور g ترسیم کریں جس میں ان کے نقاط تقاطع $(1,1)$ اور $(-1,-1)$ نظر آئیں۔ آپ کو لکیر $y = x$ میں تشاکلی نظر آنی چاہیے۔

۳. نقاط $(1,1)$ اور $(-1,-1)$ پر f اور g کی ترسیمات کے مماس کا ڈھلوان تلاش کریں۔ (کل چار مماس۔)

۴. مبدا پر ان منحنیات کے مماس تلاش کریں۔

سوال ۷.۳۰:

۱. دکھائیں کہ $h(x) = \frac{x^3}{4}$ اور $k(x) = (4x)^{1/3}$ ایک دوسرے کے الٹ ہیں۔

۲. h اور k ترسیم کریں جس میں ان کے نقاط تقاطع $(2,2)$ اور $(-2,-2)$ نظر آئیں۔ آپ کو لکیر $y = x$ میں تشاکلی نظر آنی چاہیے۔

۳. نقاط $(2,2)$ اور $(-2,-2)$ پر h اور k کی ترسیمات کے مماس کا ڈھلوان تلاش کریں۔ (کل چار مماس۔)

۴. مبدا پر ان منحنیات کے مماس تلاش کریں۔

سوال ۷.۳۱: مان لیں $f(x) = x^3 - 3x^2 - 1, \ x \geq 2$ ہے۔ نقطہ $x = -1 = f(3)$ پر $\frac{\mathrm{d}f^{-1}}{\mathrm{d}x}$ کی قیمت تلاش کریں۔

سوال ۷.۳۲: مان لیں $f(x) = x^2 - 4x - 5, \ x > 2$ ہے۔ نقطہ $x = 0 = f(5)$ پر $\frac{\mathrm{d}f^{-1}}{\mathrm{d}x}$ کی قیمت تلاش کریں۔

سوال ۷.۳۳: فرض کریں قابل تفرق تفاعل $y = f(x)$ کا الٹ پایا جاتا ہے اور f کی ترسیم نقطہ $(2,4)$ سے گزرتی ہے جہاں اس کا ڈھلوان $\frac{1}{3}$ ہے۔ نقطہ $x = 4$ پر $\frac{\mathrm{d}f^{-1}}{\mathrm{d}x}$ کی قیمت تلاش کریں۔

سوال ۷.۳۴: فرض کریں قابل تفرق تفاعل $y = g(x)$ کا الٹ پایا جاتا ہے اور g کی ترسیم مبدا سے گزرتی ہے جہاں اس کا ڈھلوان 2 ہے۔ مبدا پر g^{-1} کی ترسیم کا ڈھلوان تلاش کریں۔

سوال ۷.۳۵:

ا. تفاعل $f(x) = mx$ کا الٹ تلاش کریں جہاں m غیر صفر مستقل ہے۔

ب. تفاعل $y = f(x)$ کی ترسیم مبدا سے گزرتی لکیر ہے جس کا ڈھلوان m غیر صفر ہے۔ اس تفاعل کے الٹ کے بارے میں کیا کہا جا سکتا ہے؟

سوال ۷.۳۶: دکھائیں کہ $f(x) = mx + b$، جہاں m اور b مستقل ہیں اور $m \neq 0$ ہے، کا الٹ ایک لکیر ہے جس کا ڈھلوان $\frac{1}{m}$ ہے اور جو محور y کو $-\frac{b}{m}$ پر قطع کرتی ہے۔

سوال ۷.۳۷:

ا. تفاعل $f(x) = x + 1$ کا الٹ تلاش کریں۔ f اور اس کا الٹ ایک ساتھ ترسیم کریں۔ لکیر $y = x$ کو بھی شامل کریں۔

ب. تفاعل $f(x) = x + b$ کا الٹ تلاش کریں جہاں b مستقل ہے۔ f^{-1} کی ترسیم کا f کی ترسیم کے ساتھ کیا تعلق ہے؟

ج. لکیر $y = x$ کے متوازی تفاعل کے الٹ کے بارے میں کیا کہنا ممکن ہو گا؟

سوال ۷.۳۸:

ا. تفاعل $f(x) = -x + 1$ کا الٹ معلوم کریں۔ لکیر $y = -x + 1$ اور لکیر $y = x$ کو ایک ساتھ ترسیم کریں۔ ان لکیروں کے بیچ زاویہ کتنا ہے۔

ب. تفاعل $f(x) = -x + b$ کا الٹ معلوم کریں جہاں b مستقل ہے۔ لکیر $y = -x + b$ اور لکیر $y = x$ کے مابین زاویہ کتنا ہے؟

ج. لکیر $y = x$ کے عمودی تفاعل کے الٹ کے بارے میں کیا کہا جا سکتا ہے؟

بڑھتا ہوا اور گھٹتا ہوا تفاعل

سوال ۷.۳۹: اگر وقفہ I میں کسی دو نقطوں x_1 اور x_2 پر

$$x_2 > x_1 \quad \Longrightarrow \quad f(x_2) > f(x_1)$$

ہو تب I پر تفاعل $f(x)$ بڑھتا ہو گا (حصہ ۴.۲)۔ اسی طرح درج ذیل صورت میں I پر $f(x)$ گھٹتا ہو گا۔

$$x_2 > x_1 \quad \Longrightarrow \quad f(x_2) < f(x_1)$$

دکھائیں کہ بڑھتے تفاعل اور گھٹتے تفاعل ایک ایک تفاعل ہیں یعنی دکھائیں کہ I میں کسی بھی دو نقطوں x_1 اور x_2 کے لئے $x_2 \neq x_1$ سے مراد $f(x_2) \neq f(x_1)$ ہو گا۔

سوال ۷.۴۰ تا سوال ۷.۴۴ میں سوال ۷.۳۹ کے نتائج استعمال کرتے ہوئے دکھائیں کہ دیے تفاعل کا اپنے وقفہ پر الٹ پایا جاتا ہے۔ مسئلہ ۷.۱ کی مدد سے $\frac{\mathrm{d}f^{-1}}{\mathrm{d}x}$ کا کلیہ تلاش کریں۔

سوال ۷.۴۰: $f(x) = \frac{x}{3} + \frac{5}{6}$

سوال ۷.۴۱: $f(x) = 27x^3$

سوال ۷.۴۲: $f(x) = 1 - 8x^3$

سوال ۷.۴۳: $f(x) = (1 - x)^3$

سوال ۷.۴۴: $f(x) = x^{5/3}$

نظریہ اور استعمال

سوال ۷.۴۵: اگر $f(x)$ ایک ایک ہو تب $g(x) = -f(x)$ کے بارے میں کیا کہا جا سکتا ہے؟ اپنے جواب کی وجہ پیش کریں۔

سوال ۷.۴۶: اگر ایک ایک اور غیر صفر ہو تب $h(x) = \frac{1}{f(x)}$ کے بارے میں کیا کہنا ممکن ہے؟ اپنے جواب کی وجہ پیش کریں۔

سوال ۷.۴۷: فرض کریں کہ g کی سعت، f کے دائرہ کار میں پائی جاتی ہے لہٰذا مرکب تفاعل $f \circ g$ معین ہے۔ اگر f اور g ایک ایک ہوں تب $f \circ g$ کے بارے میں کیا کہنا ممکن ہو گا؟ اپنے جواب کی وجہ پیش کریں۔

سوال ۷.۴۸: اگر مرکب تفاعل $f \circ g$ ایک ایک ہو تب کیا g لازماً ایک ایک ہو گا؟ اپنے جواب کی وجہ پیش کریں۔

سوال ۷.۴۹: فرض کریں وقفہ $[a, b]$ پر $f(x)$ مثبت، استمراری اور بڑھتا تفاعل ہے۔ ترسیم کی تاویل کرتے ہوئے درج ذیل دکھائیں۔

$$\int_a^b f(x)\,\mathrm{d}x + \int_{f(a)}^{f(b)} f^{-1}\,\mathrm{d}x = bf(b) - af(a)$$

سوال ۷.۵۰: مستقل a ، b ، c اور d پر مسلط وہ شرائط تلاش کریں جو ناطق تفاعل

$$f(x) = \frac{ax+b}{cx+d}$$

کا الٹ ممکن بناتے ہیں۔

سوال ۷.۵۱: اگر ہم $f^{-1}(x)$ کی جگہ $g(x)$ لکھیں تب مساوات ۱ کو درج ذیل لکھا جا سکتا ہے۔

$$g'(f(a)) = \frac{1}{f'(a)} \qquad \Longrightarrow g'(f(a)) \cdot f'(a) = 1$$

اس میں a کی جگہ x پر کرنے سے

$$g'(f(x)) \cdot f'(x) = 1$$

ملتا ہے جو زنجیری قاعدہ یاد دلاتی ہے۔ یقیناً درج بالا اور زنجیری قاعدے کے بیچ تعلق پایا جاتا ہے۔

فرض کریں f اور g قابل تفرق اور ایک دوسرے کے الٹ ہیں لہٰذا $(f \circ g)(x) = x$ ہو گا۔ زنجیری قاعدہ استعمال کرتے ہوئے اس مساوات کے دونوں اطراف کا x کے لحاظ سے تفرق لے کر $(f \circ g)'(x)$ کو f اور g کے تفرق کی صورت میں لکھ کر دیکھیں کیا حاصل ہوتا ہے؟ (مسئلہ ۷.۱ کو دیکھنے کا یہ بھی ایک طریقہ ہے۔)

سوال ۷.۵۲: ترکیب چھلا اور ترکیب خول کی مساوات

فرض کریں وقفہ $a \leq x \leq b$ پر f قابل تفرق ہے جہاں $a > 0$ ہے اور f کا قابل تفرق الٹ f^{-1} پایا جاتا ہے۔ تفاعل f ، لکیر $x =$

a اور لکیر $y = f(b)$ کے بیچ خطہ کو محور y کے گرد گھما کر جسم طواف پیدا کیا جاتا ہے۔ ترکیب چھلا اور ترکیب خول اس جسم کے حجم کے کلیات ایک سا نتیجہ دیتی ہیں:

$$\int_{f(a)}^{f(b)} \left((f^{-1}(y))^2 - a^2\right) \mathrm{d}y = \int_a^b 2\pi x(f(b) - f(x))\,\mathrm{d}x$$

اس مساوات کو ثابت کرنے کی خاطر درج ذیل متعارف کریں۔

$$C(t) = \int_{f(a)}^{f(t)} \pi\left((f^{-1}(y))^2 - a^2\right) \mathrm{d}y$$
$$K(t) = \int_a^t 2\pi x(f(t) - f(x))\,\mathrm{d}x$$

اس کے بعد دکھائیں کہ $[a, b]$ کے کسی نقطہ پر $C(t)$ اور $K(t)$ کی قیمتیں ایک سی ہیں اور $[a, b]$ پر ان کے تفرق بھی ایک سی ہیں۔ صفحہ ۴۲۲ پر سوال ۵.۱۲۶ کے نتیجہ کے مطابق $[a, b]$ میں تمام t کے لئے $C(t) = K(t)$ ہوگا۔ بالخصوص $C(b) = K(b)$ ہوگا۔

کمپیوٹر کا استعمال

سوال ۷.۵۳ تا سوال ۷.۶۰ میں آپ چند تفاعل اور ان کے الٹ پر غور کریں گے۔ اس کے علاوہ دیے گئے نقطہ پر ان کے تفرق اور خطی تخمینی تفاعل غور کریں گے۔ ان سوالات میں درج ذیل اقدام کریں۔

ا. دیے گئے وقفہ پر تفاعل $y = f(x)$ اور اس کا تفرق ترسیم کریں۔ بتلائیں کہ آپ کیسے جانتے ہیں کہ اس وقفہ پر f ایک ایک ہے۔

ب. مساوات $y = f(x)$ کو x کے لئے حل کر کے حاصل الٹ تفاعل کو g سے ظاہر کریں۔

ج. دیے گئے نقطہ $(x_0, f(x_0))$ پر f کے مماس کی مساوات دریافت کریں۔

د. لکیر $y = x$ کے دوسری جانب تشاکلی نقطہ $(f(x_0), x_0)$ پر g کے مماس کی مساوات دریافت کریں۔ مسئلہ ۷.۱ کی مدد سے اس مماسی لکیر کا ڈھلوان معلوم کریں۔

ھ. تفاعل f ، g ، لکیر $y = x$ ، دونوں مماسی خط اور نقطہ $(x_0, f(x_0))$ اور $(f(x_0), x_0)$ کو جوڑنے والا سیدھا خط ترسیم کریں۔ آپ کو جو تشاکلی نظر آتی ہے اس پر تبصرہ کریں؟

سوال ۷.۵۳: $y = \sqrt{3x-2}, \quad \frac{2}{3} \le x \le 4, \quad x_0 = 3$

سوال ۷.۵۴: $y = \frac{3x+2}{2x-11}, \quad -2 \le x \le 2, \quad x_0 = \frac{1}{2}$

سوال ۷.۵۵: $y = \frac{4x}{x^2+1}, \quad -1 \le x \le 1, \quad x_0 = \frac{1}{2}$

سوال ۷.۵۶: $y = \frac{x^3}{x^2+1}, \quad -1 \le x \le 1, \quad x_0 = \frac{1}{2}$

سوال ۷.۵۷: $y = x^3 - 3x^2 - 1, \quad 2 \le x \le 5, \quad x_0 = \frac{27}{10}$

سوال ۷.۵۸: $y = 2 - x - x^3, \quad -2 \le x \le 2, \quad x_0 = \frac{3}{2}$

سوال ۷.۵۹: $y = e^x, \quad -3 \le x \le 5, \quad x_0 = 1$

سوال ۷.۶۰: $y = \sin x, \quad -\frac{\pi}{2} \le x \le \frac{\pi}{2}, \quad x_0 = 1$

سوال ۷.۶۱ اور سوال ۷.۶۲ میں درج بالا تمام اقدام بروئے کار لاتے ہوئے دیے گئے وقفہ پر خفی تفاعل تفاعل کو حل کر کے $y = f(x)$ اور $x = f^{-1}(y)$ حاصل کریں۔

سوال ۷.۶۱: $y^{1/3} - 1 = (x+2)^3, \quad -5 \le x \le 5, \quad x_0 = -\frac{3}{2}$

سوال ۷.۶۲: $\cos y = x^{1/5}, \quad 0 \le x \le 1, \quad x_0 = \frac{1}{2}$

۷.۲ قدرتی لوگارتھم

علم حساب اور سائنس میں اہم ترین تفاعل اور الٹ کی جوڑی قدرتی لوگارتھم $\ln x$ اور قوت نما تفاعل e^x کی جوڑی ہے۔ تفاعل e^x کی وضاحت $\ln x$ سے ہوتی ہے لہٰذا ہم پہلے $\ln x$ متعارف کرتے ہیں۔ لوگارتھم نے پہلے علم حساب میں بہتری پیدا کی۔ لوگارتھم کی خوبیوں نے سترھویں صدی میں آفاقی میکانیات کا حساب اور ساحل سے دور راہ تلاش کرنا ممکن بنایا۔ اگرچہ آج کل پیچیدہ حساب کمپیوٹر کی مدد سے کیا جاتا ہے، بہر حال لوگارتھم کی خوبیاں آج بھی اتنی ہی اہمیت رکھتی ہیں۔

قدرتی لوگارتھمی تفاعل

مثبت عدد x کے قدرتی لوگارتھم کو $\ln x$ لکھا جاتا ہے جس کی تعریف درج ذیل تکمل دیتا ہے۔

$$\ln x = \int_1^t \frac{1}{x}\,\mathrm{d}t, \quad x > 0 \qquad \text{قدرتی لوگارتھمی تفاعل کی تعریف}$$

اگر $x > 1$ ہو تب $t = 1$ سے $t = x$ تک منحنی $y = \frac{1}{t}$ کے نیچے رقبہ $\ln x$ ہو گا (شکل ۷.۲۵)۔ اگر $0 < x < 1$ ہو تب x سے 1 تک منحنی $y = \frac{1}{t}$ کے نیچے رقبے کا منفی $\ln x$ ہو گا۔ قدرتی لوگارتھمی تفاعل وقفہ $x \le 0$ کے لئے غیر معین ہے۔ لوگارتھمی تفاعل کی تعریف سے درج ذیل ملتا ہے۔

$$\ln 1 = \int_1^1 \frac{1}{t}\,\mathrm{d}t = 0 \qquad \text{بالائی اور زیریں حد ایک سی ہیں}$$

دھیان رہے کہ ہم شکل ۷.۲۵ میں $y = \frac{1}{x}$ ترسیم کرتے ہیں لیکن تکمل میں $y = \frac{1}{t}$ استعمال کرتے ہیں۔ ہر متغیر کو x لکھنے سے

$$\ln x = \int_1^x \frac{1}{x}\,\mathrm{d}x$$

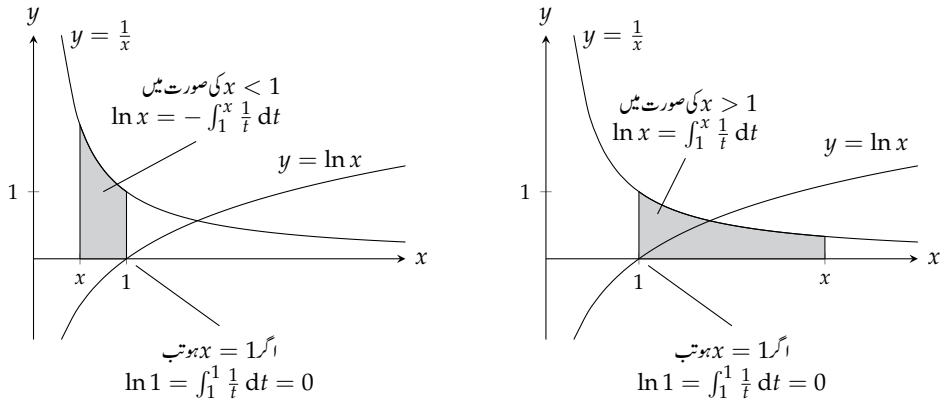

شکل ۷.۲۵: تفاعل $y = \frac{1}{x}$, $x > 0$ اور قدرتی لوگارتھمی تفاعل $y = \ln x$ کا تعلق۔ قدرتی لوگارتھمی تفاعل $x > 1$ کے لئے مثبت اور $x < 1$ کے لئے منفی ہے۔

۱.۱.۰۰ لکھا جائے گا جہاں x کے دو مختلف معنی ہیں۔ اسی لئے ہم تکمل میں متغیر کو تبدیل کرتے ہوئے t لکھتے ہیں۔

۱.۱.۰۱ x کی مختلف قیمتوں کے لئے تین اعشاریہ درست قدرتی لوگارتھمی قیمتیں درج ذیل ہیں۔

x	0	0.05	0.5	1	2	3	4	10
$\ln x$	غیر معین	-3.00	-0.69	0	0.69	1.10	1.39	2.30

۱.۱.۰۲ قدرتی لوگارتھمی تفاعل کا تفرق

۱.۱.۰۳ احصاء کے بنیادی مسئلہ کے جزو اول (مسئلہ ۵.۳) سے

$$\frac{\mathrm{d}}{\mathrm{d}x} \ln x = \frac{\mathrm{d}}{\mathrm{d}x} \int_1^x \frac{1}{t}\,\mathrm{d}t = \frac{1}{x}$$

۱.۱.۰۴ لکھا جا سکتا ہے لہٰذا x کی ہر مثبت قیمت کے لئے درج ذیل ہو گا۔

$$\frac{\mathrm{d}}{\mathrm{d}x} \ln x = \frac{1}{x}$$

۱.۱.۰۵ اگر u متغیر x کا قابل تفرق تفاعل ہو اور u کی قیمتیں مثبت ہوں، تاکہ $\ln u$ معین ہو، تب تفاعل $y = \ln u$ پر زنجیری قاعدہ

$$\frac{\mathrm{d}y}{\mathrm{d}x} = \frac{\mathrm{d}y}{\mathrm{d}u}\frac{\mathrm{d}u}{\mathrm{d}x}$$

کی اطلاق سے

$$\frac{\mathrm{d}}{\mathrm{d}x}\ln u = \frac{\mathrm{d}}{\mathrm{d}u}\ln u \cdot \frac{\mathrm{d}u}{\mathrm{d}x} = \frac{1}{u}\frac{\mathrm{d}u}{\mathrm{d}x}$$

ملتا ہے لہٰذا درج ذیل ہو گا۔

$$\frac{\mathrm{d}}{\mathrm{d}x}\ln u = \frac{1}{u}\frac{\mathrm{d}u}{\mathrm{d}x}, \quad u > 0 \tag{۱}$$

مثال ۷.۷:

$$\frac{\mathrm{d}}{\mathrm{d}x}\ln 2x = \frac{1}{2x}\frac{\mathrm{d}}{\mathrm{d}x}(2x) = \frac{1}{2x}(2) = \frac{1}{x}$$

□

آپ نے مثال ۷.۷ میں دیکھا کہ تفاعل $y = \ln 2x$ کا تفرق وہی ہے جو تفاعل $y = \ln x$ کا ہے۔ درحقیقت کسی بھی تفاعل $y = \ln ax$ کے لئے درست ہے جہاں a کوئی عدد ہے:

$$\frac{\mathrm{d}}{\mathrm{d}x}\ln ax = \frac{1}{ax}\frac{\mathrm{d}}{\mathrm{d}x}(ax) = \frac{1}{ax}(ax) = \frac{1}{x} \tag{۲}$$

مثال ۷.۸: اگر مساوات ۱ میں $u = x^2 + 3$ پر کیا جائے تب درج ذیل ہو گا۔

$$\frac{\mathrm{d}}{\mathrm{d}x}\ln(x^2+3) = \frac{1}{x^2+3}\cdot\frac{\mathrm{d}}{\mathrm{d}x}(x^2+3) = \frac{1}{x^2+3}\cdot 2x = \frac{2x}{x^2+3}$$

□

خواص لوگارتھم

کمپیوٹر کی ایجاد سے پہلے علم حساب میں سب سے زیادہ بہتری لوگارتھم کے سر ہے[۶]۔ لوگارتھم کی وہ خوبیاں جن کی بدولت حساب میں بہتری پیدا ہوئی جدول ۱.۷ میں دی گئی ہیں۔ ان خواص کی وجہ سے مثبت اعداد کے ضرب کی جگہ جمع اور مثبت اعداد کی تقسیم کی جگہ تفریق استعمال ہونے لگا۔ اس کے علاوہ طاقت کی جگہ ضرب استعمال کیا جانے لگا۔ وقتی طور پر ہم جزود میں طاقت n کو ناطق عدد تصور کرتے ہیں۔ اس کی وضاحت جزود کے ثبوت کے دوران ہو گی۔

[۶] اسکاچی ریاضی دان جان نیپر نے سولہویں صدی میں لوگارتھم ایجاد کیا۔ انہوں نے اپنی زندگی کے آخری بیس برس لوگارتھمی جدول مکمل کرنے میں صرف کیے

جدول ۷.۱: خواص قدرتی لوگارتھم

کسی بھی اعداد $a > 0$ اور $x > 0$ کے لئے۔		
الف	قاعدہ ضرب	$\ln ax = \ln a + \ln x$
ب	قاعدہ حاصل تقسیم	$\ln \frac{a}{x} = \ln a - \ln x$
ج	قاعدہ بالعکس متناسب	$\ln \frac{1}{x} = -\ln x$
د	قاعدہ طاقت	$\ln x^n = n \ln x$

۱۰۱۱۸ مثال ۷.۹:

$$\ln 6 = \ln(2 \cdot 3) = \ln 2 + \ln 3 \qquad \text{ضرب}$$

$$\ln 4 - \ln 5 = \ln \frac{4}{5} = \ln 0.8 \qquad \text{حاصل تقسیم}$$

$$\ln \frac{1}{8} = -\ln 8 \qquad \text{بالعکس متناسب}$$

$$= -\ln 2^3 = -3 \ln 2 \qquad \text{طاقت}$$

۱۰۱۱۹ □

۱۰۱۲۰ مثال ۷.۱۰:

$$\ln 4 + \ln \sin x = \ln(4 \sin x) \qquad \text{ضرب}$$

$$\ln \frac{x+1}{2x-3} = \ln(x+1) - \ln(2x-3) \qquad \text{حاصل تقسیم}$$

$$\ln \sec x = \ln \frac{1}{\cos x} = -\ln \cos x \qquad \text{بالعکس متناسب}$$

$$\ln \sqrt[3]{x+1} = \ln(x+1)^{1/3} = \frac{1}{3} \ln(x+1) \qquad \text{طاقت}$$

۱۰۱۲۱ □

۱۰۱۲۲ ثبوت: برائے $\ln ax = \ln a + \ln x$

۱۰۱۲۳ اس کا دلیل عجیب اور عمدہ ہے۔ ہم دیکھتے ہیں کہ $\ln ax$ کا تفرق اور $\ln x$ کا تفرق ایک دوسرے کے برابر ہیں (مساوات ۲)۔ مسئلہ اوسط قیمت کے ضمنی

۱۰۱۲۴ نتیجہ دوم (صفحہ ۴.۲) کہتا ہے کہ ان تفاعل میں مستقل کا فرق ہو گا:

$$\ln ax = \ln x + C \qquad \text{مستقل } C \qquad (۳)$$

۱۰۱۲۵ اب صرف یہ دکھانا باقی ہے کہ C اور $\ln a$ ایک دوسرے کے برابر ہیں۔

۱۰۱۲۶ مساوات ۳ x کی تمام مثبت قیمتوں کے لئے درست ہے لہٰذا یہ $x = 1$ کے لئے بھی درست ہو گا۔ یوں درج ذیل ہو گا۔

$$\begin{aligned} \ln(a \cdot 1) &= \ln 1 + C \\ \ln a &= 0 + C && \ln 1 = 0 \\ C &= \ln a && \text{ترتیب دی گئی ہے} \end{aligned}$$

۱۰۱۲۷ مساوات ۳ میں $C = \ln a$ پر کرنے سے ہمیں درکار تعلق حاصل ہوتا ہے۔

$$\ln ax = \ln a + \ln x \tag{۴}$$

۱۰۱۲۸ □

۱۰۱۲۹ ثبوت: برائے $\ln \frac{a}{x} = \ln a - \ln x$

۱۰۱۳۰ ہم مساوات ۴ کو دو بار استعمال کر کے ثبوت پیش کرتے ہیں۔ مساوات ۴ میں a کی جگہ $\frac{1}{x}$ پر کرنے سے

$$\begin{aligned} \ln \frac{1}{x} + \ln x &= \ln \left(\frac{1}{x} \cdot x\right) \\ &= \ln 1 = 0 \end{aligned}$$

۱۰۱۳۱ ملتا ہے لہٰذا

$$\ln \frac{1}{x} = -\ln x$$

۱۰۱۳۲ ہو گا۔ مساوات ۴ میں x کی جگہ $\frac{1}{x}$ پر کرنے سے

$$\begin{aligned} \ln \frac{a}{x} &= \ln \left(a \cdot \frac{1}{x}\right) = \ln a + \ln \frac{1}{x} \\ &= \ln a - \ln x \end{aligned}$$

۱۰۱۳۳ ملتا ہے۔

۱۰۱۳۴ □

۱۰۱۳۵ ثبوت: برائے $\ln x^n = n \ln x$ جہاں n ناطق ہے

۱۰۱۳۶ تمام مثبت x قیمتوں کے لئے درج ذیل ہو گا۔ (درج ذیل میں یاد رہے کہ ہم نے طاقتی قاعدہ صرف ناطق اعداد کے لئے ثابت کیا ہے۔)

$$\begin{aligned} \frac{\mathrm{d}}{\mathrm{d}x} \ln x^n &= \frac{1}{x^n} \frac{\mathrm{d}}{\mathrm{d}x}(x^n) && u = x^n \text{ مساوات ۱ میں} \\ &= \frac{1}{x^n} n x^{n-1} && \text{یہاں } n \text{ کا ناطق ہونا ضروری ہے} \\ &= n \cdot \frac{1}{x} = \frac{\mathrm{d}}{\mathrm{d}x}(n \ln x) \end{aligned}$$

۱۰۱۳۷ چونکہ $\ln x^n$ اور $n \ln x$ کے تفرق ایک دوسرے کے برابر ہیں لہٰذا

$$\ln x^n = n \ln x + C \qquad C \text{ مستقل}$$

۱۰۱۳۸ ہوگا جس میں $x = 1$ پر کرنے سے $C = 0$ ملتا ہے۔

۱۰۱۳۹ □

۱۰۱۴۰ اگرچہ ہم نے غیر ناطق n کے لئے قاعدہ $\ln x^n = n \ln x$ ثابت نہیں کیا ہے، یہ قاعدہ غیر ناطق اعداد کے لئے بھی درست ہے لہٰذا اس کو بغیر فقر
۱۰۱۴۱ استعمال کریں۔

$\ln x$ کی ترسیم اور سعت

۱۰۱۴۲

۱۰۱۴۳ چونکہ $x > 0$ کے لئے $\frac{\mathrm{d}}{\mathrm{d}x}(\ln x) = \frac{1}{x}$ ہے لہٰذا $\ln x$ متغیر x کا بڑھتا تفاعل ہے۔ اس کا دور ثانی تفرق، $-\frac{1}{x^2}$، منفی ہے لہٰذا $\ln x$ کی
۱۰۱۴۴ ترسیم نیچے مقعر ہے۔

۱۰۱۴۵ اعدادی تراکیب سے $\ln 2$ کی قیمت تقریباً 0.69 حاصل ہوتی ہے۔ یوں

$$\ln 2^n = n \ln 2 > n\left(\frac{1}{2}\right) = \frac{n}{2}$$

۱۰۱۴۶ اور

$$\ln 2^{-n} = -n \ln 2 < -n\left(\frac{1}{2}\right) = -\frac{n}{2}$$

۱۰۱۴۷ ہوں گے۔ ان سے درج ذیل اخذ کیے جا سکتے ہیں۔

$$\lim_{x\to\infty} \ln x = \infty \quad \text{اور} \quad \lim_{x\to 0^+} \ln x = -\infty$$

۱۰۱۴۸ $\ln x$ کا دائرہ کار مثبت حقیقی اعداد کا سلسلہ ہے جبکہ $\ln x$ کی سعت پوری حقیقی لکیر ہے۔

لوگارتھمی تفرق

۱۰۱۴۹

۱۰۱۵۰ حاصل ضرب، حاصل تقسیم اور طاقت پر مبنی مثبت تفاعل کا تفرق لینے سے پہلے تفاعل کا لوگارتھم لینا سود مند ثابت ہوتا ہے۔ لوگارتھم لیتے ہوئے ہم جدول ۷.۱
۱۰۱۵۱ کے قواعد استعمال کرتے ہوئے تفاعل کی سادہ صورت حاصل کرتے ہیں جس کا تفرق نسبتاً آسانی سے حاصل ہوتا ہے۔ اس عمل کو **لوگارتھمی تفرق**[۷] کہتے
۱۰۱۵۲ ہیں۔

۱۰۱۵۳ مثال ۷.۱۱: تفاعل $y = \frac{(x^2+1)(x+3)^{1/2}}{x-1}$, $x > 1$ کے لئے تلاش کریں۔

---

[۷] logarithmicdifferentiation

۱۰۱۵۳ حل: ہم دونوں اطراف کا قدرتی لوگارتھم لے کر جدول ۱.۷ کے قواعد سے سادہ صورت حاصل کرتے ہیں۔

$$\begin{aligned}
\ln y &= \ln \frac{(x^2+1)(x+3)^{1/2}}{x-1} \\
&= \ln\left((x^2+1)(x+3)^{1/2}\right) - \ln(x-1) && \text{قاعدہ حاصل تقسیم} \\
&= \ln(x^2+1) + \ln(x+3)^{1/2} - \ln(x-1) && \text{قاعدہ ضرب} \\
&= \ln(x^2+1) + \frac{1}{2}\ln(x+3) - \ln(x-1) && \text{قاعدہ طاقت}
\end{aligned}$$

۱۰۱۵۵ اب ہم دونوں اطراف کا x کے لحاظ سے تفرق لیتے ہیں۔ (بائیں ہاتھ مساوات ۱ استعمال کرتے ہیں۔)

$$\frac{1}{y}\frac{\mathrm{d}y}{\mathrm{d}x} = \frac{1}{x^2+1}\cdot 2x + \frac{1}{2}\cdot\frac{1}{x+3} - \frac{1}{x-1}$$

۱۰۱۵۶ اس کو $\frac{\mathrm{d}y}{\mathrm{d}x}$ کے لئے حل کرتے ہیں:

$$\frac{\mathrm{d}y}{\mathrm{d}x} = y\left(\frac{2x}{x^2+1} + \frac{1}{2x+6} - \frac{1}{x-1}\right)$$

۱۰۱۵۷ آخر میں ہم y کی قیمت پر کرتے ہیں:

$$\frac{\mathrm{d}y}{\mathrm{d}x} = \frac{(x^2+1)(x+3)^{1/2}}{x-1}\left(\frac{2x}{x^2+1} + \frac{1}{2x+6} - \frac{1}{x-1}\right)$$

۱۰۱۵۸ □

۱۰۱۵۹ تفاعل $y = f(x) > 0$ کا لوگارتھمی تفرق

۱۰۱۶۰ کسی بھی تفاعل کا لوگارتھمی تفرق درج ذیل اقدام سے حاصل ہوگا۔

$$\begin{aligned}
\ln y &= \ln f(x) && \text{دونوں اطراف لوگارتھم لیں} \\
\frac{\mathrm{d}}{\mathrm{d}x}\ln y &= \frac{\mathrm{d}}{\mathrm{d}x}(\ln f(x)) && \text{دونوں اطراف تفرق لیں} \\
\frac{1}{y}\frac{\mathrm{d}y}{\mathrm{d}x} &= \frac{\mathrm{d}}{\mathrm{d}x}(\ln f(x)) && \text{بائیں ہاتھ مساوات ۱} \\
\frac{\mathrm{d}y}{\mathrm{d}x} &= y\frac{\mathrm{d}}{\mathrm{d}x}(\ln f(x)) && \frac{\mathrm{d}y}{\mathrm{d}x} \text{ کے لئے حل کریں} \\
\frac{\mathrm{d}y}{\mathrm{d}x} &= f(x)\frac{\mathrm{d}}{\mathrm{d}x}(\ln f(x)) && y = f(x) \text{ پر کریں}
\end{aligned}$$

۱۰۱۶۱ تکمل $\int \frac{\mathrm{d}u}{u}$

۱۰۱۶۲ مساوات اسے تکمل کا کلیہ

$$\int \frac{1}{u}\,\mathrm{d}u = \ln u + C \qquad C \text{ مستقل} \tag{۵}$$

۱۰۱۶۳ ملتا ہے جہاں u مثبت قابل تفرق تفاعل ہے۔ منفی u کی صورت میں کیا ہو گا؟ اگر u منفی ہو تب $-u$ مثبت ہو گا لہٰذا

$$\begin{aligned}\int \frac{1}{u}\,\mathrm{d}u &= \int \frac{1}{(-u)}\,\mathrm{d}(-u)\\ &= \ln(-u) + C \qquad -u \text{ کی جگہ } u \text{ مساوات ۵ میں}\end{aligned} \tag{۶}$$

۱۰۱۶۴ لکھا جا سکتا ہے۔ مساوات ۵ اور مساوات ۶ میں دائیں ہاتھ کو $\ln|x| + C$ لکھا جا سکتا ہے۔ یوں دونوں مساوات کو

$$\int \frac{1}{u}\,\mathrm{d}u = \ln|u| + C \tag{۷}$$

۱۰۱۶۵ میں ضم کیا جا سکتا ہے جہاں u غیر صفر قابل تفرق تفاعل ہے۔

۱۰۱۶۶ ہم درج ذیل جانتے ہیں

$$\int u^n\,\mathrm{d}u = \frac{u^{n+1}}{n+1} + C, \quad n \neq -1$$

۱۰۱۶۷ اور $n = -1$ کے لئے مساوات ۷ کی طرف دیکھ سکتے ہیں۔

۱۰۱۶۸ مساوات ۷ کے تحت درج ذیل ہو گا

$$\int \frac{f'(x)}{f(x)}\,\mathrm{d}x = \ln\big|f(x)\big| + C$$

۱۰۱۶۹ جہاں $f(x)$ قابل تفرق تفاعل ہے جس کی علامت پورے دائرہ کار پر تبدیل نہیں ہوتی ہے۔

۱۰۱۷۰ مثال ۷.۱۲:

$$\begin{aligned}\int_0^2 \frac{2x}{x^2-5}\,\mathrm{d}x &= \int_{-5}^{-1} \frac{\mathrm{d}u}{u} = \ln|u|\Big|_{-5}^{-1} \qquad u = x^2 - 5\\ &= \ln|-1| - \ln|-5| = \ln 1 - \ln 5 = -\ln 5\end{aligned}$$

۱۰۱۷۱ □

۱۰۱۷۲ مثال ۷.۱۳:

$$\int_{-\pi/2}^{\pi/2} \frac{4\cos\theta}{3+2\sin\theta}\,\mathrm{d}\theta = \int_1^5 \frac{2}{u}\,\mathrm{d}u \qquad u = 3+2\sin\theta$$
$$= 2\ln|u|\big|_1^5$$
$$= 2\ln|5| - 2\ln|1| = 2\ln 5$$

۱۰۱۷۳ □

۱۰۱۷۴ $\tan x$ اور $\cot x$ کے تکمل

۱۰۱۷۵ ہمیں مساوات ۷ کی مدد سے $\tan x$ اور $\cot x$ کا تکمل لے سکتے ہیں۔ ٹینجنٹ کے لئے درج ذیل ہو گا۔

$$\int \tan x\,\mathrm{d}x = \int \frac{\sin x}{\cos x}\,\mathrm{d}x = \int \frac{-\,\mathrm{d}u}{u} \qquad u = \cos x$$
$$= -\int \frac{\mathrm{d}u}{u} = -\ln|u| + C \qquad \text{مساوات ۷}$$
$$= -\ln|\cos x| + C = \ln\frac{1}{|\cos x|} + C \qquad \text{قاعدہ بالعکس متناسب}$$
$$= \ln|\sec x| + C$$

۱۰۱۷۶ کوٹینجنٹ کے لئے درج ذیل ہو گا۔

$$\int \cot x\,\mathrm{d}x = \int \frac{\cos x}{\sin x}\,\mathrm{d}x = \int \frac{\mathrm{d}u}{u} \qquad u = \sin x$$
$$= \ln|u| + C = \ln|\sin x| + C = -\ln|\csc x| + C$$

۱۰۱۷۷ اس طرح درج ذیل کلیات حاصل ہوتے ہیں۔

$$\int \tan u\,\mathrm{d}u = -\ln|\cos u| + C = \ln|\sec u| + C$$
$$\int \cot u\,\mathrm{d}u = \ln|\sin u| + C = -\ln|\csc x| + C$$

۱۰۱۷۸ مثال ۷.۱۴:

$$\int_0^{\pi/6} \tan 2x\,\mathrm{d}x = \int_0^{\pi/3} \tan u \cdot \frac{\mathrm{d}u}{2} = \frac{1}{2}\int_0^{\pi/3} \tan u\,\mathrm{d}u \qquad u = 2x$$
$$= \frac{1}{2}\ln|\sec u|\Big|_0^{\pi/3} = \frac{1}{2}(\ln 2 - \ln 1) = \frac{1}{2}\ln 2$$

۱۰۱۷۹ □

۱۰۱۸۰ **سوالات**

۱۰۱۸۱ **لوگارتھم کے خواص**

۱۰۱۸۲ سوال ۷.۶۳: مندرجہ ذیل کو $\ln 2$ اور $\ln 3$ کی صورت میں لکھیں۔

۱۰۱۸۳ ا. $\ln 0.75$ ۱۰۱۸۵ ج. $\ln(1/2)$ ۱۰۱۸۷ ھ. $\ln 3\sqrt{2}$

۱۰۱۸۴ ب. $\ln(4/9)$ ۱۰۱۸۶ د. $\ln \sqrt[3]{9}$ ۱۰۱۸۸ و. $\ln \sqrt{13.5}$

۱۰۱۸۹ سوال ۷.۶۴: مندرجہ ذیل کو $\ln 5$ اور $\ln 7$ کی صورت میں لکھیں۔

۱۰۱۹۰ ا. $\ln(1/125)$ ۱۰۱۹۲ ج. $\ln 7\sqrt{7}$ ۱۰۱۹۴ ھ. $\ln 0.056$

۱۰۱۹۱ ب. $\ln 9.8$ ۱۰۱۹۳ د. $\ln 1225$ ۱۰۱۹۵ و. $\frac{\ln 35+\ln(1/7)}{\ln 25}$

۱۰۱۹۶ سوال ۷.۶۵ اور سوال ۷.۶۶ میں خواص لوگارتھم کی مدد سے دیے گئے ریاضی فقرے کی سادہ صورت تلاش کریں۔

۱۰۱۹۷ سوال ۷.۶۵:

۱۰۱۹۸ ا. $\ln \sin\theta - \ln\left(\frac{\sin\theta}{5}\right)$ ۱۰۱۹۹ ب. $\ln(3x^2-9x)+\ln\left(\frac{1}{3x}\right)$ ج. $\frac{1}{2}\ln(4t^4)-\ln 2$

۱۰۲۰۱ سوال ۷.۶۶:

۱۰۲۰۲ ا. $\ln\sec\theta+\ln\cos\theta$ ۱۰۲۰۴ ج. $3\ln\sqrt[3]{t^2-1}-\ln(t+1)$

۱۰۲۰۳ ب. $\ln(8x+4)-2\ln 2$

۱۰۲۰۵ **لوگارتھم کے تفرق**

۱۰۲۰۶ سوال ۷.۶۷ تا سوال ۷.۹۸ میں x ، t یا θ کے لحاظ سے y کا تفرق لیں۔

۱۰۲۰۷ سوال ۷.۶۷: $y=\ln 3x$

۱۰۲۰۸ سوال ۷.۶۸: k مستقل، $y=\ln kx,$

۱۰۲۰۹ سوال ۷.۶۹: $y=\ln(t^2)$

۱۰۲۱۰ سوال ۷.۷۰: $y=\ln(t^{3/2})$

۱۰۲۱۱ سوال ۷.۷۱: $y=\ln\frac{3}{x}$

۱۰۲۱۲ سوال ۷.۷۲: $y=\ln\frac{10}{x}$

۱۰۲۱۳ سوال ۷.۷۳: $y = \ln(\theta + 1)$

۱۰۲۱۴ سوال ۷.۷۴: $y = \ln(2\theta + 2)$

۱۰۲۱۵ سوال ۷.۷۵: $y = \ln x^3$

۱۰۲۱۶ سوال ۷.۷۶: $y = (\ln x)^3$

۱۰۲۱۷ سوال ۷.۷۷: $y = t(\ln t)^2$

۱۰۲۱۸ سوال ۷.۷۸: $y = t\sqrt{\ln t}$

۱۰۲۱۹ سوال ۷.۷۹: $y = \frac{x^4}{4}\ln x - \frac{x^4}{16}$

۱۰۲۲۰ سوال ۷.۸۰: $y = \frac{x^3}{3}\ln x - \frac{x^3}{9}$

۱۰۲۲۱ سوال ۷.۸۱: $y = \frac{\ln t}{t}$

۱۰۲۲۲ سوال ۷.۸۲: $y = \frac{1+\ln t}{t}$

۱۰۲۲۳ سوال ۷.۸۳: $y = \frac{\ln x}{1+\ln x}$

۱۰۲۲۴ سوال ۷.۸۴: $y = \frac{x\ln x}{1+\ln x}$

۱۰۲۲۵ سوال ۷.۸۵: $y = \ln(\ln x)$

۱۰۲۲۶ سوال ۷.۸۶: $y = \ln(\ln(\ln x))$

۱۰۲۲۷ سوال ۷.۸۷: $y = \theta(\sin(\ln\theta)) + \cos(\ln\theta)$

۱۰۲۲۸ سوال ۷.۸۸: $y = \ln(\sec\theta + \tan\theta)$

۱۰۲۲۹ سوال ۷.۸۹: $y = \ln\frac{1}{x\sqrt{x+1}}$

۱۰۲۳۰ سوال ۷.۹۰: $y = \frac{1}{2}\ln\frac{1+x}{1-x}$

۱۰۲۳۱ سوال ۷.۹۱: $y = \frac{1+\ln t}{1-\ln t}$

۱۰۲۳۲ سوال ۷.۹۲: $y = \sqrt{\ln\sqrt{t}}$

۱۰۲۳۳ سوال ۷.۹۳: $y = \ln(\sec(\ln\theta))$

۱۰۲۳۴ سوال ۷.۹۴: $y = \ln\left(\frac{\sqrt{\sin\theta\cos\theta}}{1+2\ln\theta}\right)$

۱۰۲۳۵ سوال ۷.۹۵: $y = \ln\left(\frac{(x^2+1)^5}{\sqrt{1-x}}\right)$

۱۰۲۳۶ سوال ۷.۹۶: $y = \ln\sqrt{\frac{(x+1)^5}{(x+2)^{20}}}$

۱۰۲۳۷ سوال ۷.۹۷: $y = \int_{x^2/2}^{x^2} \ln \sqrt{t}\, \mathrm{d}t$

۱۰۲۳۸ سوال ۷.۹۸: $y = \int_{\sqrt{x}}^{\sqrt[3]{x}} \ln t\, \mathrm{d}t$

۱۰۲۳۹

۱۰۲۴۰ **لوگارتھمی تفرق**

۱۰۲۴۱ سوال ۷.۹۹ تا سوال ۷.۱۱۲ میں لوگارتھمی تفرق استعمال کرتے ہوئے y کا دیے گئے غیر قابو متغیر کے لحاظ سے تفرق لیں۔

۱۰۲۴۲ سوال ۷.۹۹: $y = \sqrt{x(x+1)}$

۱۰۲۴۳ سوال ۷.۱۰۰: $y = \sqrt{(x^2+1)(x-1)^2}$

۱۰۲۴۴ سوال ۷.۱۰۱: $y = \sqrt{\frac{t}{t+1}}$

۱۰۲۴۵ سوال ۷.۱۰۲: $y = \sqrt{\frac{1}{t(t+1)}}$

۱۰۲۴۶ سوال ۷.۱۰۳: $y = \sqrt{\theta+3}\sin\theta$

۱۰۲۴۷ سوال ۷.۱۰۴: $y = (\tan\theta)\sqrt{2\theta+1}$

۱۰۲۴۸ سوال ۷.۱۰۵: $y = t(t+1)(t+2)$

۱۰۲۴۹ سوال ۷.۱۰۶: $y = \frac{1}{t(t+1)(t+2)}$

۱۰۲۵۰ سوال ۷.۱۰۷: $y = \frac{\theta+5}{\theta\cos\theta}$

۱۰۲۵۱ سوال ۷.۱۰۸: $y = \frac{\theta\sin\theta}{\sqrt{\sec\theta}}$

۱۰۲۵۲ سوال ۷.۱۰۹: $y = \frac{x\sqrt{x^2+1}}{(x+1)^{2/3}}$

۱۰۲۵۳ سوال ۷.۱۱۰: $y = \sqrt{\frac{(x+1)^{10}}{(2x+1)^5}}$

۱۰۲۵۴ سوال ۷.۱۱۱: $y = \sqrt[3]{\frac{x(x-2)}{x^2+1}}$

۱۰۲۵۵ سوال ۷.۱۱۲: $y = \sqrt[3]{\frac{x(x+1)(x-2)}{(x^2+1)(2x+3)}}$

۱۰۲۵۶ **تکمل**

۱۰۲۵۷ سوال ۷.۱۱۳ تا سوال ۷.۱۳۰ میں تکمل حل کریں۔

۱۰۲۵۸ سوال ۷.۱۱۳: $\int_{-3}^{-2} \frac{\mathrm{d}x}{x}$

۱۰۲۵۹ سوال ۷.۱۱۴: $\int_{-1}^{0} \frac{3\,\mathrm{d}x}{3x-2}$

سوال ۷.۱۱۵: $\int \frac{2y\,\mathrm{d}y}{y^2-25}$

سوال ۷.۱۱۶: $\int \frac{8r\,\mathrm{d}r}{4r^2-5}$

سوال ۷.۱۱۷: $\int_0^{\pi} \frac{\sin t}{2-\cos t}\,\mathrm{d}t$

سوال ۷.۱۱۸: $\int_0^{\pi/3} \frac{4\sin\theta}{1-4\cos\theta}\,\mathrm{d}\theta$

سوال ۷.۱۱۹: $\int_1^2 \frac{2\ln x}{x}\,\mathrm{d}x$

سوال ۷.۱۲۰: $\int_2^4 \frac{\mathrm{d}x}{x\ln x}$

سوال ۷.۱۲۱: $\int_2^4 \frac{\mathrm{d}x}{x(\ln x)^2}$

سوال ۷.۱۲۲: $\int_2^{16} \frac{\mathrm{d}x}{2x\sqrt{\ln x}}$

سوال ۷.۱۲۳: $\int \frac{3\sec^2 t}{6+3\tan t}\,\mathrm{d}t$

سوال ۷.۱۲۴: $\int \frac{\sec y\tan y}{2+\sec y}\,\mathrm{d}y$

سوال ۷.۱۲۵: $\int_0^{\pi/2} \tan\frac{x}{2}\,\mathrm{d}x$

سوال ۷.۱۲۶: $\int_{\pi/4}^{\pi/2} \cot t\,\mathrm{d}t$

سوال ۷.۱۲۷: $\int_{\pi/2}^{\pi} 2\cot\frac{\theta}{3}\,\mathrm{d}\theta$

سوال ۷.۱۲۸: $\int_0^{\pi/12} 6\tan 3x\,\mathrm{d}x$

سوال ۷.۱۲۹: $\int \frac{\mathrm{d}x}{2\sqrt{x}+2x}$

سوال ۷.۱۳۰: $\int \frac{\sec x\,\mathrm{d}x}{\sqrt{\ln(\sec x+\tan x)}}$

نظریہ اور استعمال

سوال ۷.۱۳۱: درج ذیل کے مطلق انتہائی قیمتیں تلاش کریں۔

ا. $\ln(\cos x),\quad \left[-\frac{\pi}{4}, \frac{\pi}{3}\right]$ ب. $\cos(\ln x),\quad \left[\frac{1}{2}, 2\right]$

سوال ۷.۱۳۲: (ا) ثابت کریں کہ $f(x) = x - \ln x$ بڑھتا ہے $x > 1$ کے لئے۔ (ب) $x > 1$ کی صورت میں جزو-ا استعمال کرتے ہوئے دکھائیں کہ $\ln x < x$ ہو گا۔

سوال ۷.۱۳۳: منحنی $y = \ln x$ اور $y = \ln 2x$ کے بیچ $x = 1$ تا $x = 5$ رقبہ تلاش کریں۔

سوال ۷.۱۳۴: منحنی $y = \tan x$ اور محور x کے بیچ $x = -\frac{\pi}{4}$ تا $x = \frac{\pi}{3}$ رقبہ تلاش کریں۔

سوال ۷.۱۳۵: ربع اول میں محددی لکیروں، منحنی $x = \frac{2}{\sqrt{y+1}}$ اور لکیر $y = 3$ کے بیچ خطہ کو محور y کے گرد گھما کر جسم طواف پیدا کیا جاتا ہے۔اس جسم کا حجم تلاش کریں۔

سوال ۷.۱۳۶: منحنی $y = \sqrt{\cot x}$ اور محور x پر $x = \frac{\pi}{6}$ تا $x = \frac{\pi}{2}$ کے بیچ خطہ کو محور x کے گرد گھما کر جسم طواف پیدا کیا جاتا ہے۔اس جسم کا حجم تلاش کریں۔

سوال ۷.۱۳۷: منحنی $y = \frac{1}{x^2}$ اور محور x پر $x = \frac{1}{2}$ تا $x = 2$ کے بیچ خطہ کو محور y کے گرد گھما کر جسم طواف پیدا کیا جاتا ہے۔اس جسم کا حجم تلاش کریں۔

سوال ۷.۱۳۸: منحنی $y = \frac{9x}{\sqrt{x^3+9}}$ اور محور x پر $x = 0$ تا $x = 3$ کے بیچ خطہ کو صفحہ ۵۶۵ پر سوال ۶.۱۲۵ میں محور y کے گرد گھما کر 36π حجم کا جسم طواف پیدا کیا جاتا ہے۔اگر اس خطہ کو محور x کے گرد گھمایا کر جسم طواف پیدا کیا جائے تب اس جسم کا حجم کتنا ہو گا؟

سوال ۷.۱۳۹: درج ذیل منحنیات کی لمبائی تلاش کریں۔

ا. $y = \frac{x^2}{8} - \ln x, \quad 4 \le x \le 8$ ب. $x = (\frac{y}{4})^2 - 2\ln(\frac{y}{4}), \quad 4 \le y \le 12$

سوال ۷.۱۴۰: ایک منحنی کی $x = 1$ تا $x = 2$ لمبائی درج ذیل ہے۔اس منحنی کو تلاش کریں۔

$$L = \int_1^2 \sqrt{1 + \frac{1}{x^2}}\, \mathrm{d}x$$

سوال ۷.۱۴۱: (ا) منحنی $y = \frac{1}{x}$ اور محور x پر $x = 1$ تا $x = 2$ کے بیچ خطے کا وسطانی مرکز دو اعشاریہ درستگی تک تلاش کریں۔(ب) خطے کا خاکہ بنا کر وسطانی مرکز دکھائیں۔

سوال ۷.۱۴۲: (ا) ایک پتلی چادر جس کی کثافت مستقل ہے منحنی $y = \frac{1}{\sqrt{x}}$ اور محور x پر $x = 1$ تا $x = 16$ کے بیچ پایا جاتا ہے۔اس چادر کی کمیت کا مرکز تلاش کریں۔(ب) اگر چادر کی کثافت $\delta(x) = \frac{4}{\sqrt{x}}$ ہو تب اس کی کمیت کا مرکز کیا ہو گا؟

سوال ۷.۱۴۳ اور سوال ۷.۱۴۴ میں دیے گئے ابتدائی قیمت مسائل کو حل کریں۔

سوال ۷.۱۴۳: $\frac{\mathrm{d}y}{\mathrm{d}x} = 1 + \frac{1}{x}, \quad y(1) = 3$

سوال ۷.۱۴۴: $\frac{\mathrm{d}^2 y}{\mathrm{d}x^2} = \sec^2 x, \quad y(0) = 0,\ y'(0) = 1$

سوال ۷.۱۴۵: نقطہ $x = 0$ پر $\ln(1+x)$ کی خط بندی کی خاطر $x = 1$ کے قریب x کی تخمین کے بجائے ہم $x = 0$ کے قریب $\ln(1+x)$ کی تخمین لیتے ہیں۔اس طرح نسبتاً سادہ کلیہ حاصل ہوتا ہے۔(ا) نقطہ $x = 0$ کے قریب $\ln(1+x) \approx x$ کی خط بندی کریں۔(ب) وقفہ $[0, 0.1]$ پر $\ln(1+x)$ کے بجائے x استعمال کرنے سے پیدا خلل کو 5 اعشاریہ تک تلاش کریں۔(ج) منحنی $y = \ln(1+x)$ اور $y = x$ کو ایک ساتھ وقفہ $[0, 0.5]$ پر ترسیم کریں۔کس نقطہ پر خط بندی بہتر ہے؟ خراب سے خراب ہے؟ ترسیم سے زیادہ سے زیادہ خلل پڑھ کر تلاش کریں۔

سوال ۷.۱۴۶: اگرچہ لوگارتھمی تفاعل کی خط بندی سے چھوٹے وقفہ پر بہترین نتائج حاصل ہوتے ہیں، قاعدہ سمسن کسی مخصوص $\ln x$ کی زیادہ بہتر قیمت دیتا ہے۔

یہ دیکھنے کی خاطر $\ln(1.2)$ اور $\ln(0.8)$ کی 5 اعشاریہ قیمتیں بالترتیب 0.18232 اور -0.22314 ہیں۔ ان قیمتوں کہ پہلے کلیہ $\ln(1+x) \approx x$ اور اور بعد میں $n = 2$ لیتے ہوئے قاعدہ سمسن سے حاصل کریں۔ (نتائج حیرت کن حد تک درست ہیں!)

سوال ۷.۱۴۷: $\lim\limits_{x\to\infty} \frac{\ln(x^2)}{\ln x}$ کی قیمت تلاش کریں۔ اس نتیجہ کو عمومی بنائیں۔

سوال ۷.۱۴۸: کیا ہر نقطہ پر $y = \ln 3x$ اور $y = \ln 3x$ کے تفرق برابر ہو سکتے ہیں۔ (تفرق لے کر دیکھیں۔) تفاعل $y = \ln kx$ جہاں k مثبت مستقل ہے کے لئے کیا کہا جا سکتا ہے؟ اپنے جواب کی وجہ پیش کریں۔

سوال ۷.۱۴۹: تفاعل $\ln x$ ، $\ln 2x$ ، $\ln 4x$ ، $\ln 8x$ اور $\ln 16x$ کو $0 < x \leq 10$ کے لئے ترسیم کریں۔ آپ کیا دیکھتے ہیں؟ وجہ بیان کریں۔

سوال ۷.۱۵۰: تفاعل $y = \ln|\sin x|$ کو ترسیم کر کے کمپیوٹر کے شیشہ پر $0 \leq x \leq 22$ اور $-2 \leq y \leq 0$ کے بیچ نتائج دیکھیں۔ آپ کو کیا نظر آتا ہے؟ وجہ بیان کریں۔ ترسیم کو الٹا کرنے کے لئے تفاعل میں کیا تبدیلی کرنی ہو گی؟

سوال ۷.۱۵۱: (ا) تفاعل $y = \sin x$ اور $y = \ln(a + \sin x)$ کو $a = 2, 4, 8, 20, 50$ کے لئے ایک ساتھ $0 \leq x \leq 23$ پر ترسیم کریں۔ (ب) a کی قیمت بڑھنے سے ترسیمات افقی صورت کیوں اختیار کرتے ہیں؟ (اشارہ۔ a کے لحاظ سے $|y'|$ کی بالائی حد تلاش کریں۔)

سوال ۷.۱۵۲: کیا $y = \sqrt{x} - \ln x,\ x > 0$ کا نقطہ تصریف پایا جاتا ہے؟ اس کا جواب (ا) ترسیم اور (ب) احصاء سے دیں۔

۷.۳ قوت نمائی تفاعل

اگر وقت کے لحاظ سے کسی مقدار y میں تبدیلی اس کی موجودہ قیمت y کے راست متناسب ہو تب یہ مقدار ایسا تفاعل ہو گا جو درج ذیل تفرقی مساوات کو مطمئن کرے گا۔

$$\frac{\mathrm{d}y}{\mathrm{d}t} = ky \qquad k \text{ مستقل}$$

اگر لمحہ $t = 0$ پر $y = y_0$ ہو تب یہ قوت نمائی تفاعل $y = y_0 e^{kt}$ ہو گا۔ اس حصہ میں قوت نمائی تفاعل کی تعریف (یہ $\ln x$ کا الٹ ہے) پیش کی جائے گی اور ان خواص پر غور کیا جائے گا جن کی بدولت قوت نمائی تفاعل ریاضیات اور استعمال میں کثرت سے پایا جاتا ہے (حصہ ۷.۵)۔

$\ln x$ کا الٹ اور عدد e

تفاعل $\ln x$ متغیر x کا بڑھتا تفاعل ہے۔ $\ln x$ کا دائرہ کار $(0, \infty)$ اور سعت $(-\infty, \infty)$ ہے جبکہ اس کا الٹ $\ln^{-1} x$ ہے جس کا دائرہ کار $(-\infty, \infty)$ اور سعت $(0, \infty)$ ہے۔ لکیر $y = x$ میں $\ln x$ کا عکس تفاعل $\ln^{-1} x$ کی ترسیم دیتی ہے۔ آپ تصدیق کر سکتے ہیں کہ

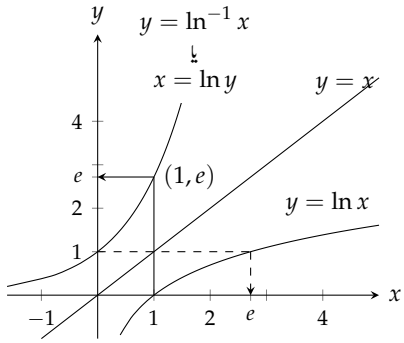

شکل ۷.۲۶: تفاعل $y \ln x$ اور تفاعل $y = \ln^{-1} x$۔ عدد e سے مراد $\ln^{-1} 1$ ہے۔

۱۰۳۳۴ تفاعل $\ln^{-1} x$ کے لئے

$$\lim_{x\to\infty} \ln^{-1} x = \infty, \quad \lim_{x\to-\infty} \ln^{-1} x = 0$$

۱۰۳۳۵ ہو گا۔ عدد $\ln^{-1} 1$ کو حرف e سے ظاہر کیا جاتا ہے (شکل ۷.۲۶)۔

$$e = \ln^{-1} 1 \qquad \text{تعریف}$$

۱۰۳۳۶ اگرچہ e ناطق عدد نہیں ہے، ہم باب میں دیکھیں گے کہ درج ذیل کلیہ سے، کمپیوٹر استعمال کرتے ہوئے، ہم جتنے اعشاریہ تک اس کی قیمت چاہیں معلوم کر
۱۰۳۳۷ سکتے ہیں۔

$$e = \lim_{n\to\infty} \left(1 + 1 + \frac{1}{2} + \frac{1}{6} + \cdots + \frac{1}{n!}\right)$$

۱۰۳۳۸ 15 اعشاریہ تک e کی قیمت درج ذیل ہے۔

$$e = 2.718\,281\,828\,459\,045$$

۱۰۳۳۹ تفاعل $y = e^x$

۱۰۳۴۰ کسی بھی مثبت عدد کی طرح ہم عدد e کو x کی ناطق طاقت تک بڑھا سکتا ہیں:

$$e^2 = e \cdot e, \quad e^{-2} = \frac{1}{e^2}, \quad e^{1/2} = \sqrt{e}$$

۱۰۳۴۱ چونکہ e مثبت ہے لہٰذا e^x بھی مثبت ہو گا اور یوں e^x کا لوگارتھم بھی پایا جائے گا:

$$\ln e^x = x \ln e = x \cdot 1 = x \tag{۱}$$

۱۰۳۴۲ چونکہ $\ln x$ ایک ایک ہے اور $\ln(\ln^{-1} x) = x$ ہے لہٰذا مساوات ۱ کے تحت

$$e^x = \ln^{-1} x \qquad \text{ناطق } x \tag{۲}$$

۱۰۳۴۳ ہو گا۔ مساوات ۲ کی مدد سے e^x کی تعریف کو وسعت دے کر غیر ناطق x کو بھی شامل کیا جا سکتا ہے۔ x کی تمام قیمتوں کے لئے تفاعل $\ln^{-1} x$
۱۰۳۴۴ معین ہے لہٰذا ہم اس کو استعمال کرتے ہوئے e^x کو ان نقطوں پر بھی قیمت مختص کر سکتے ہیں جہاں پہلے e^x کی کوئی قیمت نہیں پائی جاتی تھی۔ اس طرح قوت
۱۰۳۴۵ نمائی تفاعل کی عالمگیر تعریف درج ذیل ہو گی۔

۱۰۳۴۶ تعریف: e^x

۱۰۳۴۷

$$e^x = \ln^{-1} x, \qquad \text{ہر حقیقی عدد } x \text{ کے لئے}$$

۱۰۳۴۸ □

۱۰۳۴۹ ایسی مساواتیں جن میں $\ln x$ اور e^x موجود ہوں

۱۰۳۵۰ چونکہ $\ln x$ اور e^x ایک دوسرے کے الٹ ہیں لہٰذا ان کی الٹ مساواتیں درج ذیل ہوں گی۔

$$e^{\ln x} = x \qquad \text{تمام } x > 0 \tag{۳}$$

$$\ln(e^x) = x, \qquad \text{تمام } x \tag{۴}$$

۱۰۳۵۱ ہو گا۔ اگلی مثال کے کچھ حصوں کو کیلکولیٹر سے حل کریں۔

۱۰۳۵۲ مثال ۷.۱۵:

۱۰۳۵۳ ا. $\ln e^2 = 2,$

۱۰۳۵۴ ب. $\ln e^{-1} = -1,$

۱۰۳۵۵ ج. $\ln \sqrt{e} = \frac{1}{2},$

۱۰۳۵۶ د. $\ln e^{\sin x} = \sin x,$

۱۰۳۵۷ ھ. $e^{\ln 2} = 2,$

۱۰۳۵۸ و. $e^{\ln(x^2+1)} = x^2 + 1,$

۱۰۳۵۹ ز. $e^{3\ln 2} = e^{\ln 2^3} = e^{\ln 8} = 8$ ایک طریقہ

۱۰۳۶۰ ح. $e^{3\ln 2} = (e^{\ln 2})^3 = 2^3 = 8$ دوسرا طریقہ

۱۰۳۶۱ □

۱۰۳۶۲ مثال ۷.۱۶: مساوات $\ln y = 3t + 5$ میں y تلاش کریں۔

۱۰۳۶۳ حل: دونوں اطراف کا قوت نما لیتے ہیں:

$$e^{\ln y} = e^{3t+5}$$

$$y = e^{3t+5} \qquad \text{مساوات ۳}$$

جدول ۷.۲: قواعد برائے e^x کے قوت نما

	تمام اعداد x_1 اور x_2 کے لئے
ا	$e^{x_1} \cdot e^{x_2} = e^{x_1+x_2}$
ب	$e^{-1} = \frac{1}{e^x}$
ج	$\frac{e^{x_1}}{e^{x_2}} = e^{x_1-x_2}$
د	$(e^{x_1})^{x_2} = e^{x_1 x_2} = (e^{x_2})^{x_1}$

۱۰۳۶۴ □

۱۰۳۶۵ مثال ۷.۱۷: اگر $e^{2k} = 10$ تب k کتنا ہوگا؟

۱۰۳۶۶ حل: دونوں اطراف کا قدرتی لوگارتھم لیتے ہیں:

$$\begin{aligned} e^{2k} &= 10 \\ \ln e^{2k} &= \ln 10 \\ 2k &= \ln 10 && \text{مساوات ۴} \\ k &= \frac{1}{2}\ln 10 \end{aligned}$$

۱۰۳۶۷ □

۱۰۳۶۸ **قواعد قوت نما**

۱۰۳۶۹ اگرچہ e^x کی تعریف $\ln^{-1} x$ پر منحصر ہے، یہ الجبرا کے قواعد (جدول ۷.۲) برائے قوت نما کو مطمئن کرتا ہے۔

۱۰۳۷۰ ثبوت: **برائے قاعدہ-ا** اگر ذیل ذیل

$$y_1 = e^{x_1}, \quad y_2 = e^{x_2}$$

۱۰۳۷۱ ہوں تب مساوات کے دونوں اطراف کے لوگارتھم لیتے ہوئے

$$\begin{aligned} x_1 &= \ln y_1 \\ x_2 &= \ln y_2 \end{aligned}$$

۱۰۳۷۲ ہوں گے۔ یوں درج ذیل ہو گا۔

$$
\begin{aligned}
x_1 + x_2 &= \ln y_1 + \ln y_2 \\
&= \ln y_1 y_2 && \text{قاعدہ ضرب} \\
e^{x_1+x_2} &= e^{\ln y_1 y_2} && \text{قوت نما} \\
&= y_1 y_2 && e^{\ln u} = u \\
&= e^{x_1} e^{x_2}
\end{aligned}
$$

۱۰۳۷۳ □

۱۰۳۷۴ قاعدہ-د کا ثبوت بھی اس سے ملتا جلتا ہے۔ قواعد-ب اور ج کو قاعدہ-ا سے حاصل کیا جا سکتا ہے (سوال ۷.۲۳۰)۔

۱۰۳۷۵ مثال ۷.۱۸:

$$
\begin{aligned}
e^{x+\ln 2} &= e^x \cdot e^{\ln 2} = 2e^x && \text{قاعدہ-ا} \\
e^{-\ln x} &= \frac{1}{e^{\ln x}} = \frac{1}{x} && \text{قاعدہ-ب} \\
\frac{e^{2x}}{e} &= e^{2x-1} && \text{قاعدہ-ج} \\
(e^3)^x &= e^{3x} = (e^x)^3 && \text{قاعدہ-د}
\end{aligned}
$$

۱۰۳۷۶ □

۱۰۳۷۷ e^x کا تفرق اور تکمل

۱۰۳۷۸ قوت نمائی تفاعل ایک ایسے قابل تفرق تفاعل کا الٹ ہے جس کا تفرق کبھی بھی صفر نہیں ہوتا ہے لہٰذا قوت نمائی تفاعل بھی قابل تفرق ہو گا۔ $y = e^x$

۱۰۳۷۹ سے شروع کرتے ہوئے درج ذیل لکھا جا سکتا ہے۔

$$
\begin{aligned}
y &= e^x \\
\ln y &= x && \text{دونوں اطراف لوگارتھم} \\
\frac{1}{y}\frac{\mathrm{d}y}{\mathrm{d}x} &= 1 && \text{دونوں اطراف } x \text{ کے لحاظ سے تفرق} \\
\frac{\mathrm{d}y}{\mathrm{d}x} &= y \\
\frac{\mathrm{d}y}{\mathrm{d}x} &= e^x && y \text{ کی جگہ } e^x
\end{aligned}
$$

۱۰۳۸۰ یوں ثابت ہوتا ہے کہ e^x کا تفرق از خود e^x ہے۔

۱۰۳۸۱ ہم حصہ ۷.۵ میں دیکھیں گے کہ یہ خاصیت صرف e^x کے مستقل مضرب تفاعل رکھتا ہے۔

$$\frac{\mathrm{d}}{\mathrm{d}x}e^x = e^x \tag{۵}$$

۱۰۳۸۲ مثال ۷.۱۹:

$$\frac{\mathrm{d}}{\mathrm{d}x}(5e^x) = 5\frac{\mathrm{d}}{\mathrm{d}x}e^x = 5e^x$$

۱۰۳۸۳ □

۱۰۳۸۴ زنجیری قاعدہ مساوات ۵ کو وسعت دے کر عمومی روپ دیتا ہے۔ اگر u متغیر x کا قابل تفرق تفاعل ہو تب درج ذیل ہو گا۔

$$\frac{\mathrm{d}}{\mathrm{d}x}e^u = e^u\frac{\mathrm{d}u}{\mathrm{d}x} \tag{۶}$$

۱۰۳۸۵ مثال ۷.۲۰:

(ا) $\frac{\mathrm{d}}{\mathrm{d}x}e^{-x} = e^{-x}\frac{\mathrm{d}}{\mathrm{d}x}(-x) = e^{-x}(-1) = -e^{-x}$ مساوات ۶ میں $u = -x$

(ب) $\frac{\mathrm{d}}{\mathrm{d}x}e^{\sin x} = e^{\sin x}\frac{\mathrm{d}}{\mathrm{d}x}(\sin x) = e^{\sin x}\cdot\cos x$ مساوات ۶ میں $u = \sin x$

۱۰۳۸۶ □

۱۰۳۸۷ مساوات ۶ کا تکملی مساوی درج ذیل ہے جہاں C مستقل ہے۔

$$\int e^u\,\mathrm{d}u = e^u + C$$

۱۰۳۸۸ مثال ۷.۲۱:

$$\begin{aligned}
\int_0^{\ln 2} e^{3x}\,\mathrm{d}x &= \int_0^{\ln 8} e^u\cdot\frac{1}{3}\,\mathrm{d}u && u = 3x\\
&= \frac{1}{3}\int_0^{\ln 8} e^u\,\mathrm{d}u\\
&= \frac{1}{3}e^u\Big|_0^{\ln 8}\\
&= \frac{1}{3}[8-1] = \frac{7}{3}
\end{aligned}$$

۱۰۳۸۹ □

۱۰۳۹۰ مثال ۷.۲۲:

مثال ۷.۲۰

$$\int_0^{\pi/2} e^{\sin x}\cos x\,\mathrm{d}x = e^{\sin x}\Big|_0^{\pi/2}$$
$$= e^1 - e^0 = e - 1$$

۱۰۳۹۱ □

۱۰۳۹۲ مثال ۷.۲۳: درج ذیل ابتدائی قیمت مسئلہ حل کریں۔

$$e^y\frac{\mathrm{d}y}{\mathrm{d}x} = 2x, \quad x > \sqrt{3}, \quad y(2) = 0$$

۱۰۳۹۳ حل: ہم دونوں اطراف کا x کے لحاظ سے تکمل لیتے ہیں۔

$$e^y = x^2 + C$$

۱۰۳۹۴ ہم ابتدائی معلومات استعمال کرتے ہوئے مستقل C دریافت کرتے ہیں۔

$$\begin{aligned} C &= e^0 - (2)^2 \\ &= 1 - 4 = -3 \end{aligned}$$

۱۰۳۹۵ یوں درج ذیل ہوگا۔

$$e^y = x^2 - 3 \tag{۷}$$

۱۰۳۹۶ y تلاش کرنے کی خاطر ہم دونوں اطراف کا لوگارتھم لیتے ہیں۔

$$\begin{aligned} \ln e^y &= \ln(x^2 - 3) \\ y &= \ln(x^2 - 3) \end{aligned} \tag{۸}$$

۱۰۳۹۷ آپ دیکھ سکتے ہیں کہ $x > \sqrt{3}$ کے لئے حل درست ہے۔

۱۰۳۹۸ تفرقی مساوات میں حل کو پر کر کے تصدیق کرنا بہتر ثابت ہوتا ہے۔ مساوات ۷ اور مساوات ۸ کو تفرقی مساوات میں پر کرتے ہیں۔

$$\begin{aligned} e^y\frac{\mathrm{d}y}{\mathrm{d}x} &= e^y\frac{\mathrm{d}}{\mathrm{d}x}(x^2 - 3) \\ &= e^y\frac{2x}{x^2 - 3} \\ &= (x^2 - 3)\frac{2x}{x^2 - 3} \\ &= 2x \end{aligned}$$

۱۰۳۹۹ یوں تفرقی مساوات کو حل مطمئن کرتا ہے۔ □

۱۰۴۰۰ **سوالات**

۱۰۴۰۱ **قوت نما اور لوگارتھم کے ساتھ الجبرائی حساب**

۱۰۴۰۲ سوال ۷.۱۵۳ تا سوال ۷.۱۵۶ میں سادہ صورت دریافت کریں۔

۱۰۴۰۳ سوال ۷.۱۵۳: (ا) $e^{\ln 7.2}$، (ب) $e^{-\ln x^2}$، (ج) $e^{\ln x - \ln y}$

۱۰۴۰۴ سوال ۷.۱۵۴: (ا) $e^{\ln(x^2+y^2)}$، (ب) $e^{-\ln 0.3}$، (ج) $e^{\ln \pi x - \ln 2}$

۱۰۴۰۵ سوال ۷.۱۵۵: (ا) $2\ln\sqrt{e}$، (ب) $\ln(\ln e^e)$، (ج) $\ln(e^{-x^2-y^2})$

۱۰۴۰۶ سوال ۷.۱۵۶: (ا) $\ln(e^{\sec\theta})$، (ب) $\ln(e^{(e^x)})$، (ج) $\ln(e^{2\ln x})$

۱۰۴۰۷ **لوگارتھمی یا قوت نمائی اجزاء والے مساوات کا حل**

۱۰۴۰۸ سوال ۷.۱۵۷ تا سوال ۷.۱۶۲ میں t یا x (جیسا موزوں ہو) کے لحاظ سے y کے لئے حل کریں۔

۱۰۴۰۹ سوال ۷.۱۵۷: $\ln y = 2t + 4$

۱۰۴۱۰ سوال ۷.۱۵۸: $\ln y = -t + 5$

۱۰۴۱۱ سوال ۷.۱۵۹: $\ln(y - 40) = 5t$

۱۰۴۱۲ سوال ۷.۱۶۰: $\ln(1 - 2y) = t$

۱۰۴۱۳ سوال ۷.۱۶۱: $\ln(y - 1) - \ln 2 = x + \ln x$

۱۰۴۱۴ سوال ۷.۱۶۲: $\ln(y^2 - 1) - \ln(y + 1) = \ln(\sin x)$

۱۰۴۱۵ سوال ۷.۱۶۳ اور سوال ۷.۱۶۴ کو k کے لئے حل کریں۔

۱۰۴۱۶ سوال ۷.۱۶۳: (ا) $e^{2k} = 4$، (ب) $100e^{10k} = 200$، (ج) $e^{k/1000} = a$

۱۰۴۱۷ سوال ۷.۱۶۴: (ا) $e^{5k} = \frac{1}{4}$، (ب) $80e^k = 1$،

۱۰۴۱۸ (ج) $e^{(\ln 0.8)k} = 0.8$

۱۰۴۱۹ سوال ۷.۱۶۵ تا سوال ۷.۱۶۸ کو t کے لئے حل کریں۔

۱۰۴۲۰ سوال ۷.۱۶۵: (ا) $e^{-0.3t} = 27$، (ب) $e^{kt} = \frac{1}{2}$، (ج) $e^{(\ln 0.2)t} = 0.4$

۱۰۴۲۱ سوال ۷.۱۶۶: (ا) $e^{-0.01t} = 1000$، (ب) $e^{kt} = \frac{1}{10}$، (ج) $e^{(\ln 2)t} = \frac{1}{2}$

۱۰۴۲۲ سوال ۷.۱۶۷: $e^{\sqrt{t}} = x^2$

۱۰۴۲۳ سوال ۷.۱۶۸: $e^{(x^2)}e(2x + 1) = e^t$

۱۰۴۲۴ **تفرقات**

۱۰۴۲۵ سوال ۷.۱۶۹ تا سوال ۷.۱۸۸ میں x ، t یا θ (جیسا موزوں ہو) کے لحاظ سے y کا تفرق تلاش کریں۔

۱۰۴۲۶ سوال ۷.۱۶۹: $y = e^{-5x}$

۱۰۴۲۷ سوال ۷.۱۷۰: $y = e^{2x/3}$

۱۰۴۲۸ سوال ۷.۱۷۱: $y = e^{5-7x}$

۱۰۴۲۹ سوال ۷.۱۷۲: $y = e^{4\sqrt{x}+x^2}$

۱۰۴۳۰ سوال ۷.۱۷۳: $y = xe^x - e^x$

۱۰۴۳۱ سوال ۷.۱۷۴: $y = (1+2x)e^{-2x}$

۱۰۴۳۲ سوال ۷.۱۷۵: $y = (x^2-2x+2)e^x$

۱۰۴۳۳ سوال ۷.۱۷۶: $y = (9x^2-6x+2)e^{3x}$

۱۰۴۳۴ سوال ۷.۱۷۷: $y = e^\theta(\sin\theta + \cos\theta)$

۱۰۴۳۵ سوال ۷.۱۷۸: $y = \ln(3\theta e^{-\theta})$

۱۰۴۳۶ سوال ۷.۱۷۹: $y = \cos(e^{-\theta^2})$

۱۰۴۳۷ سوال ۷.۱۸۰: $y = \theta^3 e^{-2\theta}\cos 5\theta$

۱۰۴۳۸ سوال ۷.۱۸۱: $y = \ln(3te^{-t})$

۱۰۴۳۹ سوال ۷.۱۸۲: $y = \ln(2e^{-t}\sin t)$

۱۰۴۴۰ سوال ۷.۱۸۳: $y = \ln\left(\frac{e^\theta}{1+e^\theta}\right)$

۱۰۴۴۱ سوال ۷.۱۸۴: $y = \ln\left(\frac{\sqrt{\theta}}{1+\sqrt{\theta}}\right)$

۱۰۴۴۲ سوال ۷.۱۸۵: $y = e^{(\cos t + \ln t)}$

۱۰۴۴۳ سوال ۷.۱۸۶: $y = e^{\sin t}(\ln t^2 + 1)$

۱۰۴۴۴ سوال ۷.۱۸۷: $y = \int_0^{\ln x} \sin e^t \, \mathrm{d}t$

۱۰۴۴۵ سوال ۷.۱۸۸: $y = \int_{e^{4\sqrt{x}}}^{e^{2x}} \ln t \, \mathrm{d}t$

۱۰۴۴۶ سوال ۷.۱۸۹ تا سوال ۷.۱۹۲ میں $\frac{\mathrm{d}y}{\mathrm{d}x}$ تلاش کریں۔

۱۰۴۴۷ سوال ۷.۱۸۹: $\ln y = e^y \sin x$

۱۰۴۴۸ سوال ۷.۱۹۰: $\ln xy = e^{x+y}$

۱۰۴۴۹ سوال ۷.۱۹۱: $e^{2x} = \sin(x+3y)$

۱۰۳۵۰ سوال ۷.۱۹۲: $\tan y = e^x + \ln x$

۱۰۳۵۱ **تکملات**

۱۰۳۵۲ سوال ۷.۱۹۳ تا سوال ۷.۲۱۴ میں تکمل حل کریں۔

۱۰۳۵۳ سوال ۷.۱۹۳: $\int (e^{ex} + 5e^{-x})\,\mathrm{d}x$

۱۰۳۵۴ سوال ۷.۱۹۴: $\int (2e^x - 3e^{-2x})\,\mathrm{d}x$

۱۰۳۵۵ سوال ۷.۱۹۵: $\int_{\ln 2}^{\ln 3} e^x\,\mathrm{d}x$

۱۰۳۵۶ سوال ۷.۱۹۶: $\int_{-\ln 2}^{0} e^{-x}\,\mathrm{d}x$

۱۰۳۵۷ سوال ۷.۱۹۷: $\int 8e^{(x+1)}\,\mathrm{d}x$

۱۰۳۵۸ سوال ۷.۱۹۸: $\int 2e^{2x-1}\,\mathrm{d}x$

۱۰۳۵۹ سوال ۷.۱۹۹: $\int_{\ln 4}^{\ln 9} e^{x/2}\,\mathrm{d}x$

۱۰۳۶۰ سوال ۷.۲۰۰: $\int_{0}^{\ln 16} e^{x/4}\,\mathrm{d}x$

۱۰۳۶۱ سوال ۷.۲۰۱: $\int \frac{e^{\sqrt{r}}}{\sqrt{r}}\,\mathrm{d}r$

۱۰۳۶۲ سوال ۷.۲۰۲: $\int \frac{e^{-\sqrt{r}}}{\sqrt{r}}\,\mathrm{d}r$

۱۰۳۶۳ سوال ۷.۲۰۳: $\int 2te^{-t^2}\,\mathrm{d}t$

۱۰۳۶۴ سوال ۷.۲۰۴: $\int t^3 e^{t^4}\,\mathrm{d}t$

۱۰۳۶۵ سوال ۷.۲۰۵: $\int \frac{e^{1/x}}{x^2}\,\mathrm{d}x$

۱۰۳۶۶ سوال ۷.۲۰۶: $\int \frac{e^{-1/x^2}}{x^3}\,\mathrm{d}x$

۱۰۳۶۷ سوال ۷.۲۰۷: $\int_{0}^{\pi/4} (1 + e^{\tan\theta}) \sec^2\theta\,\mathrm{d}\theta$

۱۰۳۶۸ سوال ۷.۲۰۸: $\int_{\pi/4}^{\pi/2} (1 + e^{\cot\theta}) \csc^2\theta\,\mathrm{d}\theta$

۱۰۳۶۹ سوال ۷.۲۰۹: $\int e^{\sec \pi t} \sec \pi t \tan \pi t\,\mathrm{d}t$

۱۰۳۷۰ سوال ۷.۲۱۰: $\int e^{\csc(\pi+t)} \csc(\pi + t) \cot(\pi + t)\,\mathrm{d}t$

۱۰۳۷۱ سوال ۷.۲۱۱: $\int_{\ln(\pi/6)}^{\ln(\pi/2)} 2e^y \cos e^y\,\mathrm{d}y$

۱۰۳۷۲ سوال ۷.۲۱۲: $\int_{0}^{\sqrt{\ln \pi}} 2xe^{x^2} \cos(e^{x^2})\,\mathrm{d}x$

۱۰۳۷۳ سوال ۷.۲۱۳: $\int \frac{e^r}{1+e^r}\,\mathrm{d}r$

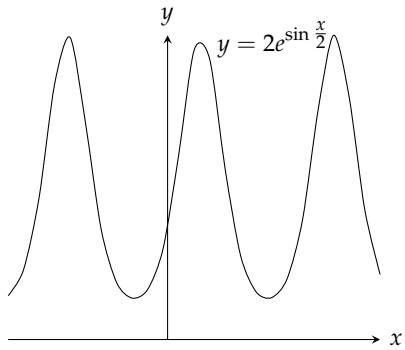

شکل ۷.۲۷: ترسیم برائے سوال ۷.۲۲۰

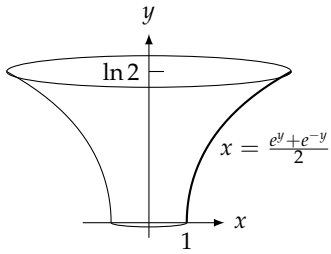

شکل ۷.۲۸: برائے سوال ۷.۲۲۶

سوال ۷.۲۱۴: $\int \frac{\mathrm{d}x}{1+e^x}$

ابتدائی قیمت مسائل

سوال ۷.۲۱۵ تا سوال ۷.۲۱۸ میں دیے گئے ابتدائی قیمت مسائل حل کریں۔

سوال ۷.۲۱۵: $\frac{\mathrm{d}y}{\mathrm{d}x} = e^t \sin(e^t - 2), \quad y(\ln 2) = 0$

سوال ۷.۲۱۶: $\frac{\mathrm{d}y}{\mathrm{d}t} = e^{-t} \sec^2(\pi e^{-t}), \quad y(\ln 4) = \frac{2}{\pi}$

سوال ۷.۲۱۷: $\frac{\mathrm{d}^2}{\mathrm{d}x^2} = 2e^{-x}, \quad y(0) = 1, \quad y'(0) = 0$

سوال ۷.۲۱۸: $\frac{\mathrm{d}^2}{\mathrm{d}t^2} = 1 - e^{2t}, \quad y(1) = -1, \quad y'(1) = 0$

نظریہ اور استعمال

سوال ۷.۲۱۹: وقفہ $[0,1]$ پر $f(x) = e^x - 2x$ کی مطلق زیادہ سے زیادہ قیمت اور مطلق کم سے کم قیمت تلاش کریں۔

سوال ۷.۲۲۰: تفاعل $f(x) = 2e^{\sin\frac{x}{2}}$ کے مطلق انتہا قیمتیں کیا اور کہاں ہیں (شکل ۷.۲۷)۔

سوال ۷.۲۲۱: تفاعل $f(x) = x^2 \ln\frac{1}{x}$ کی مطلق زیادہ سے زیادہ قیمت تلاش کریں۔ یہ قیمت کہاں پائی جاتی ہے۔

سوال ۷.۲۲۲: تفاعل $f(x) = (x-3)^2 e^x$ اور اس کا ایک رتبی تفرق ایک ساتھ ترسیم کریں۔ f' کی قیمت اور علامت کے لحاظ سے f کے رویہ پر تبصرہ کریں۔ احصاء کی مدد سے ترسیم پر نمایاں نقطوں کی نشاندہی کریں۔

سوال ۷.۲۲۳: ربع اول میں بالائی جانب قوس $y = e^{2x}$، نچلی جانب قوس $y = e^x$ اور دائیں جانب لکیر $x = \ln 3$ میں محیط تکونی رقبہ تلاش کریں۔

سوال ۷.۲۲۴: ربع اول میں بالائی جانب قوس $y = e^{x/2}$، نچلی جانب قوس $y = e^{-x/2}$ اور دائیں جانب لکیر $x = 2\ln 2$ میں محیط تکونی رقبہ تلاش کریں۔

سوال ۷.۲۲۵: مستوی xy میں مبدا سے گزرتی وہ قوس تلاش کریں جس کی لمبائی $x = 0$ سے $x = 1$ تک $L = \int_0^1 \sqrt{1+\frac{e^x}{4}}\,\mathrm{d}x$ ہے۔

سوال ۷.۲۲۶: منحنی $x = \frac{e^y+e^{-y}}{2},\ 0 \le y \le \ln 2$ کو محور y کے گرد گھما کر سطح طواف پیدا کی جاتی ہے (شکل ۷.۲۸)۔ اس سطح کا رقبہ تلاش کریں۔

سوال ۷.۲۲۷: (ا) دکھائیں $\int \ln x\,\mathrm{d}x = x\ln x - x + C$، (ب) وقفہ $[1,e]$ پر $\ln x$ کی اوسط قیمت تلاش کریں۔

سوال ۷.۲۲۸: وقفہ $[1,2]$ پر $f(x) = \frac{1}{x}$ کی اوسط قیمت تلاش کریں۔

سوال ۷.۲۲۹: نقطہ $x = 0$ پر e^x کی خط بندی

ا. نقطہ $x = 0$ پر خط بندی $e^x \approx 1 + x$ حاصل کریں۔

ب. وقفہ $[0, 0.2]$ پر e^x کی جگہ $1 + x$ استعمال کرنے سے پیدا خلل کو 5 اعشاریہ تک تلاش کریں۔

ج. وقفہ $-2 \le x \le 2$ پر e^x اور $1 + x$ کو ایک ساتھ کمپیوٹر پر ترسیم کریں۔ کس وقفہ پر تخمین زیادہ قیمت دیتی ہے؟ کم قیمت دیتی ہے؟

سوال ۷.۲۳۰: قواعد قوت نما

ا. مساوات $e^{x_1}e^{x_2} = e^{x_1+x_2}$ جس کو اس حصہ میں حاصل کیا گیا، سے شروع کر کے دکھائیں کہ کسی بھی حقیقی عدد x کے لئے $e^{-x} = \frac{1}{e^x}$ ہو گا۔ اس کے بعد کسی بھی دو اعداد x_1 اور x_2 کے لئے دکھائیں کہ $\frac{e^{x_1}}{e^{x_2}} = e^{x_1-x_2}$ ہو گا۔

ب. کسی بھی دو اعداد x_1 اور x_2 کے لئے دکھائیں کہ $(e^{x_1})^{x_2} = e^{x_1x_2} = (e^{x_2})^{x_1}$ ہو گا۔

سوال ۷.۲۳۱: e کا اعشاری اظہار

مساوات $\ln x = 1$ کو حل کرتے ہوئے e کی قیمت اتنے اعشاریہ تک تلاش کریں جتنے تک آپ کا کیلکولیٹر استعمال کرتے ہوئے ممکن ہو۔

سوال ۷.۲۳۲: $\ln x$ اور e^x کے مابین الٹ تعلق

کیلکولیٹر استعمال کرتے ہوئے مرکبات $e^{\ln x}$ اور $\ln(e^x)$ کی قیمت تلاش کریں۔

سوال ۷.۲۳۳: دکھائیں کہ کسی بھی عدد $a > 1$ کے لئے درج ذیل ہو گا (شکل ۷.۲۹)۔

$$\int_1 6a\ln x\,\mathrm{d}x + \int_0^{\ln a} e^y\,\mathrm{d}y = a\ln a$$

سوال ۷.۲۳۴: تکونیاتی، لوگارتھمی اور حسابی اوسط عدم مساوات

ا. دکھائیں کہ x کے ہر وقفہ پر e^x کی ترسیم مقعر اوپر ہے۔

ب. اگر $0 < a < b$ ہو تب دکھائیں کہ درج ذیل ہو گا (شکل ۷.۳۰)۔

$$e^{(\ln a+\ln b)/2}\cdot(\ln b - \ln a) < \int_{\ln a}^{\ln b} e^x\,\mathrm{d}x < \frac{e^{\ln a}+e^{\ln b}}{2}\cdot(\ln b - \ln a)$$

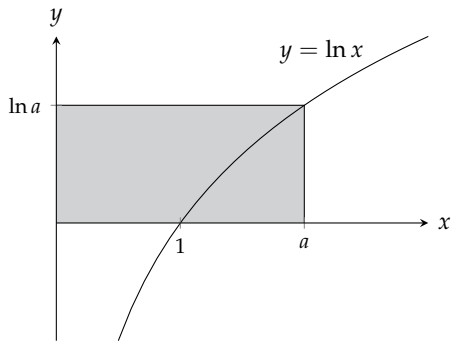

شکل ۷.۲۹: ترسیم برائے سوال ۷.۲۳۳

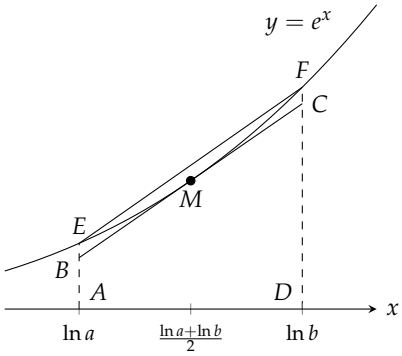

شکل ۷.۳۰: ترسیم برائے سوال ۷.۲۳۴

ج. جزو-ب کی عدم مساوات کو استعمال کرتے ہوئے درج ذیل کی تصدیق کریں۔

$$\sqrt{ab} < \frac{b-1}{\ln b - \ln a} < \frac{a+b}{2}$$

یہ عدم مساوات کہتی ہے کہ دو مثبت اعداد کا ہندسی اوسط ان کے لوگارتھمی اوسط سے کم ہو گا جو از خود ان کی حسابی اوسط سے کم ہو گا۔

۷.۴ $\log_a x$ اور a^x

اب تک ماسوائے e کے ہم نے مثبت اعداد کو غیر ناطق طاقت دینا نہیں سیکھا ہے۔ قوت نمائی تفاعل کی تعریف $e^x = \ln^{-1} x$ ، متغیر x کی تمام حقیقی قیمتوں، ناطق اور غیر ناطق، کے لئے درست ہے۔ اس حصہ میں ہم اس تعریف کو استعمال کر کے کسی بھی مثبت عدد کو کسی بھی ناطق یا غیر ناطق کی طاقت دینا سیکھ کر مثبت عدد a کے لئے قوت نمائی تفاعل $y = a^x$ کی تعریف پیش کریں گے۔ اس کے ساتھ ساتھ ہم تفرق کے طاقتی قاعدہ کو حتمی شکل دیں گے (جو تمام قوت نما کے لئے درست ہو گا) اور ایک تفاعل کو دوسرے تفاعل کی طاقت دیں گے مثلاً x^x اور $(\sin x)^{\tan x}$ ، وغیرہ۔

جیسا e^x بہت سارے قوت نما تفاعل میں سے ایک ہے، اسی طرح $\ln x$ بھی بہت سارے لوگارتھمی تفاعل، جو تفاعل a^x کے الٹ ہیں، میں سے ایک ہے۔

تفاعل a^x

چونکہ کسی بھی مثبت عدد a کے لئے $a = e^{\ln a}$ ہوتا ہے لہٰذا ہم a^x کو $(e^{\ln a})^x = e^{x \ln a}$ تصور کر سکتے ہیں۔ یوں ہم درج ذیل تعریف پیش کرتے ہیں۔

تعریف
$$a^x = e^{x \ln a}, \qquad a > 0 \tag{۱}$$

جدول ۷.۳: قواعد برائے قوت نما

$a > 0$ ہے جبکہ x اور y کوئی بھی اعداد ہو سکتے ہیں	
$a^x \cdot a^y = a^{x+y}$	ا
$a^{-x} = \frac{1}{a^x}$	ب
$\frac{a^x}{a^y} = a^{x-y}$	ج
$(a^x)^y = a^{xy} = (a^y)^x$	د

۱۰۵۳۰ مثال ۷.۲۴:

$$\text{(ا)} \quad 2^{\sqrt{3}} = e^{\sqrt{3}\ln 2}$$
$$\text{(ب)} \quad 2^{\pi} = e^{\pi \ln 2}$$

۱۰۵۳۱ □

۱۰۵۳۲ تفاعل a^x قوت نما کے عمومی قواعد جنہیں جدول ۷.۳ میں پیش کیا گیا ہے کو مطمئن کرتا ہے۔ ہم ان قواعد کے ثبوت پیش نہیں کریں گے۔

۱۰۵۳۳ **قاعدہ طاقت (حتمی صورت)**

۱۰۵۳۴ اساس a کے لوگارتھم کا تفرق حاصل کرنے کی خاطر ہمیں اس کو پہلے قدرتی لوگارتھم کی صورت میں لکھتے ہیں۔ اگر u متغیر x کا مثبت قابل تفرق تفاعل
۱۰۵۳۵ ہو تب

$$\frac{\mathrm{d}}{\mathrm{d}x}(\log_a u) = \frac{\mathrm{d}}{\mathrm{d}x}\left(\frac{\ln u}{\ln a}\right) = \frac{1}{\ln a} \cdot \frac{1}{u}\frac{\mathrm{d}u}{\mathrm{d}x}$$

۱۰۵۳۶ یعنی

$$\frac{\mathrm{d}}{\mathrm{d}x}(\log_a u) = \frac{1}{\ln a} \cdot \frac{1}{u}\frac{\mathrm{d}u}{\mathrm{d}x} \tag{۲}$$

۱۰۵۳۷ ہو گا۔

۱۰۵۳۸ مثال ۷.۲۵:

$$\frac{\mathrm{d}}{\mathrm{d}x}\log_{10}(3x+1) = \frac{1}{\ln 10} \cdot \frac{1}{3x+1}\frac{\mathrm{d}}{\mathrm{d}x}(3x+1) = \frac{3}{(\ln 10)(3x+1)}$$

۱۰۵۳۹ □

تکمل جہاں $\log_a x$ پایا جاتا ہو

جب اساس a کا لوگارتھم پایا جاتا ہو تب تکمل لیتے ہوئے ہم اس کو پہلے قدرتی لوگارتھم کی صورت میں بدلتے ہیں۔

مثال ۷.۲۶:

$$\begin{aligned}
\int \frac{\log_2 x}{x}\,\mathrm{d}x &= \frac{1}{\ln 2}\int \frac{\ln x}{x}\,\mathrm{d}x && \log_2 x = \frac{\ln x}{\ln 2}\\
&= \frac{1}{\ln 2}\int u\,\mathrm{d}u && u = \ln x\\
&= \frac{1}{\ln 2}\frac{u^2}{2} + C\\
&= \frac{1}{\ln 2}\frac{(\ln x)^2}{2} + C = \frac{(\ln x)^2}{2\ln 2} + C
\end{aligned}$$

□

اساس 10 لوگارتھم

اساس 10 لوگارتھم جس کو **عام لوگارتھم**[8] کہتے ہیں کئی سائنسی کلیات میں پایا جاتا ہے۔ مثال کے طور پر زلزلہ کی شدت کو عموماً اساس 10 کے لوگارتھمی[9] **رکٹر پیمائش**[10] میں پیش جاتا ہے۔ رکٹر پیما کا کلیہ

$$\text{شدت } R = \log_{10}\left(\frac{a}{T}\right) + B$$

ہے جہاں زلزلہ پیما کے مقام پر زمینی لرزش کا حیطہ a ہے جس کو مائیکرو میٹر میں ناپا جاتا ہے، زلزلہ کی موج کا دوری عرصہ T ہے جس کو سیکنڈ میں ناپا جاتا ہے جبکہ B ایک تجربی جزو ہے جو مرکز زلزلہ اور زلزلہ پیما کے بیچ شدت کی کمی کو ظاہر کرتا ہے۔

جاپان کے شہر ناگاساکی پر گرائے گئے ایٹمی بم میں 1.34×10^{14} J توانائی تھی جو رکٹر پیما پر 5 کے برابر ہے۔ آج تک سب سے بڑا ایٹمی دھماکہ 7.1 شدت کا تھا جس میں 2.09×10^{17} J توانائی تھی۔ اکتوبر 8 ۲۰۰۵ء کو آزاد کشمیر میں 7.6 شدت کا زلزلہ آیا جس میں 1.585×10^{16} J توانائی تھی۔

مثال ۷.۲۷: مرکز زلزلہ سے زلزلہ پیما تک فاصلہ 10 000 km ہے جس کے لئے $B = 6.8$ ہو گا۔ مقام زلزلہ پیما پر زمین کی انتصابی حرکت 10 μm اور دوری عرصہ 1 s ہیں۔ زلزلہ کی شدت تلاش کریں۔

حل:

$$R = \log_{10}\left(\frac{10}{1}\right) + 6.8 = 1 + 6.8 = 7.8$$

---

[8] commonlogarithm

[9] رکٹر پیمائش میں اکائی کا اضافہ حیطہ میں تقریباً 10 گنا اور توانائی میں تقریباً 31.623 گنا کا اضافہ ظاہر کرتا ہے۔

[10] Richterscale

جدول ۷.۴: عمومی خوراک کی $\mathrm{pH} < 7$ ہے۔

خوراک	pH
کیلا	$4.5 - 4.7$
چکوترہ	$3.0 - 3.3$
سنترا	$3.0 - 4.0$
لیموں	$1.8 - 2.0$
دودھ	$6.3 - 6.6$
مرچ	$5.1 - 5.7$

۱۰۵۵۵ □

۱۰۵۵۶ محلول کی تیزابیت کو pH (**طاقتِ ہائیڈروجن**) میں ناپا جاتا ہے جو اساس 10 کا لوگارتھمی پیمانہ [1] ہے۔ محلول میں ہائیڈرونیم برق پارہ $[H_3O^+]$ کے
۱۰۵۵۷ گھناپن کے بالعکس کا عام لوگارتھم اس محلول کی pH قیمت ہو گی:

$$\mathrm{pH} = \log_{10} \frac{1}{[H_3O^+]} = -\log_{10}[H_3O^+]$$

۱۰۵۵۸ ہائیڈرونیم برق پارہ کے گھناپن کو مول فی لٹر ($\mathrm{mol\,L^{-1}}$) میں ناپا جاتا ہے۔ تیزاب کی pH قیمت 7 سے کم جبکہ القلی کی 7 سے زیادہ ہوتی ہے۔
۱۰۵۵۹ سرکہ کی pH قیمت 3 جبکہ مقطر پانی کی pH قیمت 7 ہوتی ہے۔ pH کا پیمانہ 0 سے 14 تک ہوتا ہے۔ جدول ۷.۴ میں کئی اجزاء کی pH دی
۱۰۵۶۰ گئی ہے۔

۱۰۵۶۱ لوگارتھم کی ایک اور مثال ڈیسی بیل dB پیمانہ ہے جو صدا کی بلندی کو ناپنے کے لئے استعمال کیا جاتا ہے۔ اگر صدا کی شدت I واٹ فی مربع میٹر ہو تب

$$\text{سطح صدا} = 10\log_{10}(I \times 10^{12})\ \mathrm{dB} \qquad (۳)$$

۱۰۵۶۲ ہو گا۔ جیسا اگلا مثال دکھاتا ہے، شدت صدا کو دگنا کرنے سے سطح صدا میں تقریباً 3 dB کا اضافہ ہوتا ہے۔

۱۰۵۶۳ مثال ۷.۲۸: صدا کی شدت کو دگنا کرنے سے سطح صدا میں کتنا اضافہ ہو گا؟

۱۰۵۶۴ حل: مساوات ۳ کے تحت $2I$ شدت صدا کے لئے

$$\begin{aligned}
\text{دگنی شدت کی سطح صدا} &= 10\log_{10}(2I \times 10^{12}) && \text{مساوات ۳ میں } 2I \\
&= 10\log_{10} 2 + 10\log_{10}(I \times 10^{12}) \\
&= \text{اصل شدت کی سطح صدا} + 10\log_{10} 2 \\
&\approx \text{اصل شدت کی سطح صدا} + 3 && \log_{10} \approx 0.3
\end{aligned}$$

[1] pH کی جدید تعریف کے تحت اس کو "مخفی قوہ ہائیڈروجن" کہنا زیادہ بہتر ہو گا۔

جدول ۷.۵: سطح صدا کی چند قیمتیں۔

سماعت کی کمتر سطح	0 dB
پتوں کا سرسرانا	10 dB
سرگوشی	20 dB
خاموش گاڑی	50 dB
عام بات چیت	65 dB
تین میٹر دور ہوائی برما	90 dB
کانوں میں درد	120 dB

۱۰۵۶۵ ہو گا۔ □

۱۰۵۶۶ سطح صدا کی چند قیمتیں جدول ۷.۵ میں دی گئی ہیں۔

۱۰۵۶۷ **سوالات**

۱۰۵۶۸ **الجبرائی حساب**

۱۰۵۶۹ سوال ۷.۲۳۵ تا سوال ۷.۲۳۸ میں ریاضی فقرے کی سادہ صورت تلاش کریں۔

۱۰۵۷۰ سوال ۷.۲۳۵:

۱۰۵۷۱ ا. $5^{\log_5 7}$

۱۰۵۷۲ ب. $8^{\log_8 \sqrt{2}}$

۱۰۵۷۳ ج. $1.3^{\log_{1.3} 75}$

۱۰۵۷۴ د. $\log_4 16$

۱۰۵۷۵ ھ. $\log_3 \sqrt{3}$

۱۰۵۷۶ و. $\log_4 \left(\frac{1}{4}\right)$

۱۰۵۷۷ سوال ۷.۲۳۶:

۱۰۵۷۸ ا. $2^{\log_2 3}$

۱۰۵۷۹ ب. $10^{\log_{10}(1/2)}$

۱۰۵۸۰ ج. $\pi^{\log_\pi 7}$

۱۰۵۸۱ د. $\log_{11} 121$

۱۰۵۸۲ ھ. $\log_{121} 11$

۱۰۵۸۳ و. $\log_3 \left(\frac{1}{9}\right)$

۱۰۵۸۴ سوال ۷.۲۳۷:

۱۰۵۸۵ ا. $2^{\log_4 x}$

۱۰۵۸۶ ب. $9^{\log 3x}$

۱۰۵۸۷ ج. $\log_2 \left(e^{(\ln 2)(\sin x)}\right)$

۱۰۵۸۸ سوال ۷.۲۳۸:

۱۰۵۸۹ ا. $25^{\log_5(3x^2)}$ ۱۰۵۹۰ ب. $\log_e(e^x)$ ۱۰۵۹۱ ج. $\log_4(2^{e^x \sin x})$

۱۰۵۹۲ سوال ۷.۲۳۹ اور سوال ۷.۲۴۰ میں نسبت کو قدرتی لوگارتھمی صورت میں لکھ کر سادہ صورت حاصل کریں۔

۱۰۵۹۳ سوال ۷.۲۳۹:

۱۰۵۹۴ ا. $\frac{\log_2 x}{\log_3 x}$ ۱۰۵۹۵ ب. $\frac{\log_2 x}{\log_8 x}$ ۱۰۵۹۶ ج. $\frac{\log_x a}{\log_{x^2} a}$

۱۰۵۹۷ سوال ۷.۲۴۰:

۱۰۵۹۸ ا. $\frac{\log_9 x}{\log_3 x}$ ۱۰۵۹۹ ب. $\frac{\log_{\sqrt{10}} x}{\log_{\sqrt{2}} x}$ ۱۰۶۰۰ ج. $\frac{\log_a b}{\log_b a}$

۱۰۶۰۱ سوال ۷.۲۴۱ تا سوال ۷.۲۴۴ میں دی گئی مساوات حل کریں۔

۱۰۶۰۲ سوال ۷.۲۴۱: $3^{\log_3(7)+2^{\log_2(5)}} = 5^{\log_5(x)}$

۱۰۶۰۳ سوال ۷.۲۴۲: $8^{\log_8(3)} - e^{\ln 5} = x^2 - 7^{\log_7(3x)}$

۱۰۶۰۴ سوال ۷.۲۴۳: $3^{\log_3(x^2)=5e^{\ln x}} - 3 \cdot 10^{\log_{10}(2)}$

۱۰۶۰۵ سوال ۷.۲۴۴: $\ln e + 4^{-2\log_4(x)} = \frac{1}{x}\log_{10}(100)$

۱۰۶۰۶ سوال ۷.۲۴۵ تا سوال ۷.۲۷۲ میں دیے گئے غیر تابع متغیر کے لحاظ سے y کا تفرق تلاش کریں۔

۱۰۶۰۷ سوال ۷.۲۴۵: $y = 2^x$

۱۰۶۰۸ سوال ۷.۲۴۶: $y = 3^{-x}$

۱۰۶۰۹ سوال ۷.۲۴۷: $y = 5^{\sqrt{s}}$

۱۰۶۱۰ سوال ۷.۲۴۸: $y = 2^{s^2}$

۱۰۶۱۱ سوال ۷.۲۴۹: $y = x^{\pi}$

۱۰۶۱۲ سوال ۷.۲۵۰: $y = t^{1-e}$

۱۰۶۱۳ سوال ۷.۲۵۱: $y = (\cos\theta)^{\sqrt{2}}$

۱۰۶۱۴ سوال ۷.۲۵۲: $y = (\ln\theta)^{\pi}$

۱۰۶۱۵ سوال ۷.۲۵۳: $y = 7\sec\theta \ln 7$

۱۰۶۱۶ سوال ۷.۲۵۴: $y = 3^{\tan\theta}\ln 3$

۱۰۶۱۷ سوال ۷.۲۵۵: $y = 2^{\sin 3t}$

۱۰۶۱۸ سوال ۷.۲۵۶: $y = 5^{-\cos 2t}$

۱۰۶۱۹ سوال ۷.۲۵۷: $y = \log_2 5\theta$

۱۰۶۲۰ سوال ۷.۲۵۸: $y = \log_3(1 + \theta \ln 3)$

۱۰۶۲۱ سوال ۷.۲۵۹: $y = \log_4 x + \log_4 x^2$

۱۰۶۲۲ سوال ۷.۲۶۰: $y = \log_{25} e^x - \log_5 \sqrt{x}$

۱۰۶۲۳ سوال ۷.۲۶۱: $y = \log_2 r \cdot \log_4 r$

۱۰۶۲۴ سوال ۷.۲۶۲: $y = \log_3 r \cdot \log_9 r$

۱۰۶۲۵ سوال ۷.۲۶۳: $y = \log_3 \left(\left(\frac{x+1}{x-1}\right)^{\ln 3} \right)$

۱۰۶۲۶ سوال ۷.۲۶۴: $y = \log_5 \sqrt{\left(\frac{7x}{3x+2}\right)^{\ln 5}}$

۱۰۶۲۷ سوال ۷.۲۶۵: $y = \theta \sin(\log_7 \theta)$

۱۰۶۲۸ سوال ۷.۲۶۶: $y = \log_7\left(\frac{\sin\theta\cos\theta}{e^\theta 2^\theta}\right)$

۱۰۶۲۹ سوال ۷.۲۶۷: $y = \log_5 e^x$

۱۰۶۳۰ سوال ۷.۲۶۸: $y = \log_2\left(\frac{x^2 e^2}{2\sqrt{x+1}}\right)$

۱۰۶۳۱ سوال ۷.۲۶۹: $y = 3^{\log_2 t}$

۱۰۶۳۲ سوال ۷.۲۷۰: $y = 3\log_8(\log_2 t)$

۱۰۶۳۳ سوال ۷.۲۷۱: $y = \log_2(8t^{\ln 2})$

۱۰۶۳۴ سوال ۷.۲۷۲: $y = t\log_3(e^{(\sin t)(\ln 3)})$

۱۰۶۳۵ لوگارتھمی تفرق

۱۰۶۳۶ سوال ۷.۲۷۳ تا سوال ۷.۲۸۰ میں y کا لوگارتھمی تفرق دیے گئے غیر تابع متغیر کے لحاظ سے معلوم کریں۔

۱۰۶۳۷ سوال ۷.۲۷۳: $y = (x+1)^x$

۱۰۶۳۸ سوال ۷.۲۷۴: $y = x^{(x+1)}$

۱۰۶۳۹ سوال ۷.۲۷۵: $y = (\sqrt{t})^t$

۱۰۶۴۰ سوال ۷.۲۷۶: $y = t^{\sqrt{t}}$

۱۰۶۴۱ سوال ۷.۲۷۷: $y = (\sin x)^x$

۱۰۶۴۲ سوال ۷.۲۷۸: $y = x^{\sin x}$

۱۰۶۴۳ سوال ۷.۲۷۹: $y = x^{\ln x}$

۱۰۶۴۴ سوال ۷.۲۸۰: $y = (\ln x)^{\ln x}$

۱۰۶۴۵ **تکمل**

۱۰۶۴۶ سوال ۷.۲۸۱ تا سوال ۷.۲۹۰ میں تکمل تلاش کریں۔

۱۰۶۴۷ سوال ۷.۲۸۱: $\int 5^x \, \mathrm{d}x$

۱۰۶۴۸ سوال ۷.۲۸۲: $\int (1.3)^x \, \mathrm{d}x$

۱۰۶۴۹ سوال ۷.۲۸۳: $\int_0^1 2^{-\theta} \, \mathrm{d}\theta$

۱۰۶۵۰ سوال ۷.۲۸۴: $\int_{-2}^0 5^{-\theta} \, \mathrm{d}\theta$

۱۰۶۵۱ سوال ۷.۲۸۵: $\int_1^{\sqrt{2}} x2^{(x^2)} \, \mathrm{d}x$

۱۰۶۵۲ سوال ۷.۲۸۶: $\int_1^4 \frac{2^{\sqrt{x}}}{\sqrt{x}} \, \mathrm{d}x$

۱۰۶۵۳ سوال ۷.۲۸۷: $\int_0^{\pi/2} 7^{\cos t} \sin t \, \mathrm{d}t$

۱۰۶۵۴ سوال ۷.۲۸۸: $\int_0^{\pi/4} \left(\frac{1}{3}\right)^{\tan t} \sec^2 t \, \mathrm{d}t$

۱۰۶۵۵ سوال ۷.۲۸۹: $\int_2^4 x^{2x}(1 + \ln x) \, \mathrm{d}x$

۱۰۶۵۶ سوال ۷.۲۹۰: $\int_1^2 \frac{2^{\ln x}}{x} \, \mathrm{d}x$

۱۰۶۵۷ سوال ۷.۲۹۱ تا سوال ۷.۲۹۴ میں دیے گئے تکمل حل کریں۔

۱۰۶۵۸ سوال ۷.۲۹۱: $\int 3x^{\sqrt{3}} \, \mathrm{d}x$

۱۰۶۵۹ سوال ۷.۲۹۲: $\int x^{\sqrt{2}-1} \, \mathrm{d}x$

۱۰۶۶۰ سوال ۷.۲۹۳: $\int_0^3 (\sqrt{2} + 1)x^{\sqrt{2}} \, \mathrm{d}x$

۱۰۶۶۱ سوال ۷.۲۹۴: $\int_1^e x^{(\ln 2)-1}$

۱۰۶۶۲ سوال ۷.۲۹۵ تا سوال ۷.۳۰۴ میں دیے تکمل کو حل کریں۔

۱۰۶۶۳ سوال ۷.۲۹۵: $\int \frac{\log_{10} x}{x} \, \mathrm{d}x$

۱۰۶۶۴ سوال ۷.۲۹۶: $\int_1^4 \frac{\log_2 x}{x} \, \mathrm{d}x$

۱۰۶۶۵ سوال ۷.۲۹۷: $\int_1^4 \frac{\ln 2 \log_2 x}{x} \, \mathrm{d}x$

۱۰۶۶۶ سوال ۷.۲۹۸: $\int_1^e \frac{2 \ln 10 \log_{10} x}{x} \, \mathrm{d}x$

سوال۷.۲۹۹: $\int_0^2 \frac{\log_2(x+2)}{x+2}\,\mathrm{d}x$

سوال۷.۳۰۰: $\int_{1/10}^{10} \frac{\log_{10}(10x)}{x}\,\mathrm{d}x$

سوال۷.۳۰۱: $\int_0^9 \frac{2\log_{10}(x+1)}{x+1}\,\mathrm{d}x$

سوال۷.۳۰۲: $\int_2^3 \frac{2\log_2(x-1)}{x-1}\,\mathrm{d}x$

سوال۷.۳۰۳: $\int \frac{\mathrm{d}x}{x\log_{10} x}$

سوال۷.۳۰۴: $\int \frac{\mathrm{d}x}{x(\log_8 x)^2}$

سوال۷.۳۰۵تاسوال۷.۳۰۸میں تکمل کی قیمت تلاش کریں۔

سوال۷.۳۰۵: $\int_1^{\ln x} \frac{1}{t}\,\mathrm{d}t, \quad x > 1$

سوال۷.۳۰۶: $\int_1^{e^x} \frac{1}{t}\,\mathrm{d}t$

سوال۷.۳۰۷: $\int_1^{1/x} \frac{1}{t}\,\mathrm{d}t, \quad x > 0$

سوال۷.۳۰۸: $\frac{1}{\ln a}\int_1^{x} \frac{1}{t}\,\mathrm{d}t, \quad x > 0$

نظریہ اور استعمال

سوال۷.۳۰۹: منحنی $y = \frac{2x}{1+x^2}$ اور محور x پر $-2 \le x \le 2$ کے بیچ خطے کا رقبہ معلوم کریں۔

سوال۷.۳۱۰: منحنی $y = 2^{1-x}$ اور محور x پر $-1 \le x \le 1$ کے بیچ خطے کا رقبہ معلوم کریں۔

سوال۷.۳۱۱: انسانی خون کا pH

انسانی خون کے pH کی قیمت 7.37 سے 7.44 تک ہوتی ہے۔انسانی خون میں برق پارہ $[\mathrm{H_3O^+}]$ کے مطابق حدود تلاش کریں۔

سوال۷.۳۱۲: دماغی سیال کا pH

دماغی سیال میں $[\mathrm{H_3O^+}]$ کا گاڑھاپن تقریباً $4.8 \times 10^{-8}\ \mathrm{mol\,L^{-1}}$ ہے۔اس سیال کا pH تلاش کریں۔

سوال۷.۳۱۳: افزائش کار (ایمپلی فائر) سے حاصل صدا کو جزو k سے ضرب دے کر سطح صدا 10 dB مزید بلند کی جاتی ہے۔ جزو k کی قیمت تلاش کریں۔

سوال۷.۳۱۴: ایک افزائش کار صدا کی شدت کو 10 سے ضرب دیتا ہے۔صدا میں کتنے dB کا اضافہ پیدا ہو گا؟

سوال۷.۳۱۵: کسی بھی محلول میں $[\mathrm{H_3O^+}]$ اور $[OH^-]$ کے گاڑھاپن کا حاصل ضرب 10^{-14} ہوتا ہے۔

ا. $[\mathrm{H_3O^+}]$ کی کیا قیمت گاڑھاپن کا مجموعہ $S = [\mathrm{H_3O^+}] + [\mathrm{OH^-}]$ کو کم سے کم کرتی ہے؟

ب. اس محلول کی pH تلاش کریں جس میں S کی قیمت کم سے کم ہو۔

ج. $[\mathrm{H_3O^+}]$ اور $[OH^-]$ کی کون سی نسبت S کو کم سے کم بناتی ہے؟

سوال ۷.۳۱۶: کیا $\log_a b$ کی قیمت $\frac{1}{\log_b a}$ کے برابر ہو سکتی ہے؟ اپنے جواب کی وجہ پیش کریں۔

کمپیوٹر کا استعمال

سوال ۷.۳۱۷: مساوات $x^2 = 2^x$ کے دو حل $x = 2$ اور $x = 4$ ہیں جبکہ اس کا تیسرا حل بھی پایا جاتا ہے۔ ترسیم کی مدد سے تیسرا حل تلاش کریں۔

سوال ۷.۳۱۸: کیا $x > 0$ کے لئے $x^{\ln 2}$ اور $2^{\ln x}$ ایک دوسرے کے برابر ہو سکتے ہیں؟ دونوں تفاعل ترسیم کرتے ہوئے بتائیں کیا ہوتا ہے۔

سوال ۷.۳۱۹: 2^x کی خط بندی

(ا) نقطہ $x = 0$ پر $f(x) = 2^x$ کی خط بندی دریافت کریں۔ اس کے بعد عددی سروں کو 2 اعشاریہ پور وپور کریں۔ (ب) وقفہ $-3 \leq x \leq 3$ اور وقفہ $-1 \leq x \leq 1$ کے لئے تفاعل اور خط بندی کو ایک ساتھ ترسیم کریں۔

سوال ۷.۳۲۰: $f(x) = \log_3 x$ کی خط بندی

(ا) نقطہ $x = 3$ پر $f(x) = \log_3 x$ کی خط بندی تلاش کریں۔ اس کے بعد عددی سروں کو 2 اعشاریہ تک پور وپور کریں۔ (ب) وقفہ $0 \leq x \leq 8$ اور $2 \leq x \leq$ کے لئے تفاعل اور خط بندی کو ایک ساتھ ترسیم کریں۔

دیگر اساس کے ساتھ حساب کتاب

سوال ۷.۳۲۱: عموماً کیلکولیٹروں میں $\log_{10} x$ اور $\ln x$ پائے جاتے ہیں۔ دیگر اساس کے لوگارتھم تلاش کرنے کی خاطر ہم درج ذیل مساوات استعمال کرتے ہیں۔

$$\log_a x = \frac{\ln x}{\ln a}$$

یوں درج ذیل ہو گا۔

$$\log_2 5 = \frac{\ln 5}{\ln 2} \approx 2.3219$$

کیلکولیٹر استعمال کرتے ہوئے 5 اعشاریہ درستگی تک (ا) $\log_3 8$، (ب) $\log_7 0.5$، (ج) $\log_{2_} 17$، (د) $\log_{0.5} 7$ تلاش کریں۔ درج ذیل معلومات استعمال کرتے ہوئے $\ln x$ تلاش کریں۔ (ہ) $\log_{10} x = 2.3$، (و) $\log_2 x = 1.4$، (ز) $\log_{10} x = -0.7$ (ح)، $\log_2 x = -1.5$

سوال ۷.۳۲۲: تبدیلی پیمانہ

(ا) دکھائیں کہ اساس 10 لوگارتھم کو اساس 2 لوگارتھم میں تبدیل کرنے کی مساوات درج ذیل ہے۔

$$\log_2 x = \frac{\ln 10}{\ln 2} \log_{10} x$$

(ب) دکھائیں کہ اساس a لوگارتھم کو اساس b لوگارتھم میں تبدیل کرنے کی مساوات درج ذیل ہے۔

$$\log_b x = \frac{\ln a}{\ln b} \log_a x$$

۷.۵ افزائش اور تنزل

اس حصہ میں ہم قوت نما تبدیلی کے قاعدہ کو حاصل کریں گے۔ اس کے علاوہ ان عملی استعمال پر غور کیا جائے گا جن کی وجہ سے لوگارتھمی اور قوت نمائی تفاعل اہمیت کے حامل ہیں۔

قوت نما تبدیلی کا قاعدہ

فرض کریں ہم کسی مقدار y (جو سمتی رفتار، درجہ حرارت، برقی رو، یا کچھ اور ہو سکتا ہے) میں دلچسپی رکھتے ہیں جس میں کسی بھی لمحہ t پر اضافہ یا کمی اس لمحہ موجود مقدار کے راست متناسب ہے۔ اگر ہمیں لمحہ $t = 0$ پر مقدار کی قیمت y_0 بھی معلوم ہو تب ہم متغیر t کے تفاعل y کو درج ذیل ابتدائی قیمت مسئلہ حل کر کے حاصل کر سکتے ہیں۔

$$\begin{aligned} \frac{\mathrm{d}y}{\mathrm{d}t} &= ky && \text{تفرقی مساوات} \\ y &= y_0, \quad t = 0 && \text{ابتدائی معلومات} \end{aligned} \tag{۱}$$

اگر y مثبت ہو اور بڑھ رہا ہو تب k مثبت ہو گا اور مساوات ۱ کہتی ہے کہ اضافہ کی شرح جمع کیے گئے مقدار کے راست متناسب ہے۔ اگر y منفی ہو اور گھٹ رہا ہو تب k منفی ہو گا اور مساوات ۱ کہتی ہے کہ تنزل کی شرح، رہ گئی مقدار کے راست متناسب ہے۔

ہم دیکھ سکتے ہیں کہ مساوات ۱ کا ایک حل $y = 0$ ہے۔ غیر صفر حل حاصل کرنے کے لئے ہم مساوات ۱ کے دونوں اطراف کو y سے تقسیم کر کے حل کرتے ہیں:

$$\begin{aligned} \frac{1}{y} \cdot \frac{\mathrm{d}y}{\mathrm{d}t} &= k \\ \ln|y| &= kt + C && t \text{ کے لحاظ سے تکمل} \\ |y| &= e^{kt+C} && \text{قوت نما صورت} \\ |y| &= e^C \cdot e^{kt} && e^{a+b} = e^a \cdot e^b \\ y &= \mp e^C e^{kt} && \text{اگر } |y| = r \text{ ہو تب } y = \mp r \text{ ہو گا} \\ y &= Ae^{kt} && \text{مستقل } \mp e^C \text{ کو سادہ علامت } A \text{ سے ظاہر کرتے ہیں} \end{aligned}$$

ہم $\mp e^C$ کی تمام ممکنہ قیمتوں کے علاوہ 0 کو بھی A کی قیمت لے کر حل $y = 0$ کو بھی اس کلیہ میں شامل کرتے ہیں۔

ہم ابتدائی قیمت مسئلہ کے لئے A کی قیمت حاصل کرنے کی خاطر $t = 0$ پر $y = y_0$ کو پر کرتے ہیں۔

$$y_0 = Ae^{k \cdot 0} = A$$

یوں اس ابتدائی قیمت مسئلے کا حل $y = y_0 e^{kt}$ ہو گا۔

۱۰۷۲۹ درج ذیل **قوت نما تبدیلی کا قاعدہ** ہے جس میں k کو **شرح کا مستقل**[۱۲] کہتے ہیں۔

$$y = y_0 e^{kt}, \quad k > 0 \text{ اضافہ}, \quad k < 0 \text{ تنزل} \qquad \text{قوت نما تبدیلی کا قاعدہ} \tag{۲}$$

۱۰۷۳۰ مساوات ۲ کا حصول ہمیں دکھاتا ہے کہ صرف قوت نما تفاعل کا مستقل مضرب اپنے آپ کا تفرق ہو سکتا ہے۔

۱۰۷۳۱ **نمو آبادی**

۱۰۷۳۲ کوئی بھی آبادی (انسانی، نباتاتی، جراثیمی، وغیرہ) غیر استمراری تفاعل ہو گا چونکہ یہ صرف غیر مسلسل قیمتیں اختیار کرتی ہے۔ اس کے باوجود جب آبادی میں
۱۰۷۳۳ فردی تعداد بہت زیادہ ہو تب اس آبادی کو نا صرف استمراری بلکہ قابل تفرق تفاعل سے ظاہر کرنا ممکن ہوتا ہے۔ اگر ہم فرض کریں کہ آبادی میں بچے پیدا
۱۰۷۳۴ کرنے والوں کی تناسب برقرار رہتی ہے تب کسی بھی لمحہ t پر بچوں کی پیدائشی شرح اس لمحے پر افراد کی تعداد $y(t)$ کے راست تناسب ہو گی۔ اگر ہم باہر
۱۰۷۳۵ سے آنے اور جانے والوں کو رد کریں اور ساتھ ہی مرنے والوں کی تعداد کو بھی رد کریں تب نمو آبادی کی شرح $\frac{\mathrm{d}y}{\mathrm{d}t}$ پیدائشی شرح ky کے برابر ہو گی۔ یوں
۱۰۷۳۶ $\frac{\mathrm{d}y}{\mathrm{d}t} = ky$ لہٰذا $y = y_0 e^{kt}$ ہو گا۔ حقیقت میں کسی بھی آبادی پر دیگر عوامل بھی اثر انداز ہوں گے جن پر یہاں غور نہیں کیا جائے گا۔

۱۰۷۳۷ **مثال ۷.۲۹:** بیماری پھیلنے کا ایک نمونہ فرض کرتا ہے کہ بیمار ہونے والوں کی شرح $\frac{\mathrm{d}y}{\mathrm{d}t}$ اس وقت کی تعداد y کے راست تناسب ہے۔ یوں جتنے زیادہ افراد
۱۰۷۳۸ کو بیماری لاحق ہو، بیماری اتنی زیادہ تیزی سے پھیلے گی۔

۱۰۷۳۹ فرض کریں کہ ایک سال کے عرصہ میں کسی بیماری میں مبتلا افراد کی تعداد میں $20\,\%$ کمی رونما ہوتی ہے۔ اگر آج $10\,000$ افراد بیمار ہوں تب کتنے سالوں
۱۰۷۴۰ میں بیمار افراد کی تعداد 1000 ہو گی؟

۱۰۷۴۱ حل: ہم مساوات $y = y_0 e^{kt}$ استعمال کرتے ہیں۔ ہمیں تین چیزیں معلوم کرنی ہیں۔

۱۰۷۴۲ ا. y_0 کی قیمت،

۱۰۷۴۳ ب. k کی قیمت،

۱۰۷۴۴ ج. $y = 1000$ کرنے کے لئے درکار t کی قیمت۔

۱۰۷۴۵ **پہلا قدم:** y_0 کی قیمت: ہم آج کو لمحہ $t = 0$ لیتے ہیں۔ یوں $t = 0$ پر $y = 10\,000$ ہے۔ یوں ہماری مساوات درج ذیل ہے۔

$$y = 10\,000 e^{kt}$$

۱۰۷۴۶ **دوسرا قدم:** k کی قیمت: ایک سال کے بعد بیماروں کی تعداد، آج کی تعداد کے $80\,\%$ یعنی 8000 ہو گی۔ آئیں k حاصل کریں۔

$$\begin{aligned} 8000 &= 10\,000 e^{k(1)} \\ e^k &= 0.8 \\ \ln(e^k) &= \ln 0.8 \\ k &= \ln 0.8 \end{aligned}$$

---

[۱۲] rateconstant

یوں لمحہ t پر درج ذیل ہوگا۔

$$y = 10\,000e^{(\ln 0.8)T} \tag{۳}$$

تیسرا قدم: t کی وہ قیمت جو $y = 1000$ دیتی ہے: ہم مساوات ۳ میں $y = 1000$ پر کرکے t حاصل کرتے ہیں۔

$$\begin{aligned}
1000 &= 10\,000e^{(\ln 0.8)t} \\
e^{(\ln 0.8)t} &= 0.1 \\
(\ln 0.8)t &= \ln 0.1 \\
t &= \frac{\ln 0.1}{\ln 0.8} \approx 10.32
\end{aligned}$$

یوں بیماروں کی تعداد 1000 کرنے کے لئے ہمیں دس سال سے کچھ زیادہ انتظار کرنا ہوگا۔ □

مسلسل سود در سود

اگر آپ A_0 روپیہ کاروبار میں ڈالیں اور ایک سال میں اس سے r' روپیہ کمانے کی امید رکھتے ہوں، جہاں $r' = r \times A_0$ ہے، تب ایک سال کے آخر میں آپ کے پاس $A_0 + r' = A_0(1+r)$ روپیہ ہوں گے۔

رہا پر کاروبار کرنے والا بنک ایک شخص کو A_0 روپیہ سود پر دیتا ہے۔ ایک سال بعد اس شخص پر $r \times A_0$ کا سود واجب الادا ہوگا لہٰذا ایک سال بعد اس شخص پر کل $A_0 + rA_0 = A_0(1+r)$ قرضہ ہوگا۔ ہم کہتے ہیں کہ سالانہ سود کی شرح r ہے۔ فرض کریں کہ یہ شخص سالانہ سود ادا نہیں کرتا ہے۔ یوں دوسرے سال کی ابتدا میں اس شخص پر $A_0(1+r)$ قرضہ ہوگا اور بنک اگلے سال اس مقدار پر سود حاصل کرے گا۔ چونکہ سود کی شرح r ہے لہٰذا دوسرے سال اس شخص پر سود $r \times A_0(1+r)$ ہوگا اور دوسرے سال کے آخر میں اس پر کل قرضہ

$$A_0(1+r) + rA_0(1+r) = A_0(1+r)(1+r) = A_0(1+r)^2$$

ہوگا۔ اسی طرح تین سال بعد قرضہ $A_0(1+r)^2 + rA_0(1+r)^2 = A_0(1+r)^3$ اور t سال بعد قرضہ

$$A_0(1+r)^t$$

ہوگا۔

اب بنک کہہ سکتا ہے کہ سال میں ایک بار کے بجائے وہ ماہوار $\frac{r}{12}$ شرح سے سود وصول کرے گا (جو ظاہری طور پر ربا کی وہی شرح معلوم ہوتی ہے)۔ یوں پہلے مہینے کی آخر میں واجب الادا ربا کی مقدار $\frac{r}{12}A_0$ اور قرضہ $A_t = A_0(1+\frac{r}{12})$ ہوگا۔ اسی طرح دوسرے مہینے کی آخر میں قرضہ $A_t = A_0(1+\frac{r}{12})^2$ ہوگا۔ ایک سال بعد قرضہ $A_t = A_0(1+\frac{r}{12})^{12}$ اور t سال بعد قرضہ $A_t = A_0(1+\frac{r}{12})^{12t}$ ہوگا جس کو $A_t = A_0(1+\frac{r}{k})^{kt}$ لکھا جا سکتا ہے جہاں $k = 12$ ہوگا۔

یہ بنک ماہوار کے بجائے ہفتہ وار سود بھی وصول کر سکتا ہے۔ چونکہ سال میں 52 ہفتے ہوتے ہیں لہٰذا ایسی صورت میں $k = 52$ ہوگا اور t سال بعد قرضہ درج ذیل ہوگا۔

$$A_t = A_0\left(1+\frac{r}{k}\right)^{kt}$$

سود پر چلنے والا بنک زیادہ سے زیادہ ربا حاصل کرنے کی خاطر، سال میں زیادہ سے زیادہ مرتبہ ربا حاصل کرنا چاہے گا۔ آئیں دیکھیں کہ $k \to \infty$ کرنے سے t سال بعد قرضہ کتنا ہو گا؟

$$\begin{aligned}\lim_{k\to\infty} A_t &= \lim_{k\to\infty} A_0\left(1+\frac{r}{k}\right)^{kt}\\ &= A_0 e^{rt}\end{aligned}$$

درج بالا حد کے حصول میں ناقابل معلوم روپ 1^∞ حاصل ہوتی ہے۔ ایسے حد کی تلاش حصہ ۷.۶ میں سکھائی جائے گی۔ یوں t سال بعد اس شخص پر قرضہ درج ذیل ہو گا۔

$$A(t) = A_0 e^{rt} \tag{۴}$$

اس کلیہ کے تحت ربا کو **مسلسل سود در سود**[۱۳] کہتے ہیں۔

مثال ۷.۳۰: آپ آج بنک سے مسلسل سود در سود کی سالانہ $15\,\%$ شرح پر $100\,000$ روپیہ حاصل کرتے ہیں۔ پانچ سال بعد آپ کو کتنی مقدار واپس کرنی ہو گی؟ اگر بنک سالانہ سود وصول کرتا ہو تب پانچ سال بعد قرضہ کتنا ہو گا؟

حل: ہم $A_0 = 100\,000$ ، $r = 0.15$ اور $t = 5$ لیتے ہوئے مساوات ۴ استعمال کرتے ہیں۔

$$A(5) = 100\,000e^{(0.15)(5)} = 211\,700$$

اگر بنک سال میں ایک بار ربا وصول کرے تب پانچ سال بعد آپ کو درج ذیل قرضہ دینا ہو گا۔

$$A(5) = 100\,000(1+0.15)^5 = 201\,136$$

□

مثال ۷.۳۱: سالانہ **افراط زر**[۱۴] سے مراد ایک سال میں روپیہ کی قدر میں کمی ہے۔ یوں $10\,\%$ افراط زر کا مطلب ہے کہ ایک سال بعد روپیہ کی قیمت $90\,\%$ ہو گی۔

ایک شخص $5\,000\,000$ روپیہ بنک میں پانچ سال کے لئے جمع کرتا ہے۔ بنک ہر مہینہ اس شخص کو $40\,000$ روپیہ دیگا اور پانچ سال کے آخر میں اس کو پورے 5000000 روپیہ واپس کرے گا۔ اگر سالانہ افراط زر $12\,\%$ ہو تب اس شخص نے کیا پایا اور کیا کھویا؟

حل: پانچ سالوں میں بنک اس شخص کو

$$40\,000 \times 12 \times 5 = 2\,400\,000$$

روپیہ دیتا ہے۔ پانچ سال بعد شخص کو 5000000 روپیہ دیے جاتے ہیں جن کی اصل قدر

$$5\,000\,000 \times 0.88^5 = 2\,638\,660$$

---

[۱۳] compoundcontinuousinterest

[۱۴] inflation

ہو گی۔ یاد رہے کہ ہر مہینہ روپیہ کا قدر کم ہو گا لہٰذا پہلے مہینہ کے 40000 اور آخری مہینہ کے 40000 روپیہ کے قدر ایک سے نہیں ہوں گے۔ ہم حساب کو آسان بنانے کی خاطر تصور کرتے ہیں کہ اس شخص کو ماہوار کے بجائے ہر سال $40\,000 \times 12 = 480\,000$ روپیہ ملتے ہیں جن کی اصل قدر

$$
\begin{aligned}
480\,000 \times 0.88^1 &= 422\,400\\
480\,000 \times 0.88^2 &= 371\,712\\
480\,000 \times 0.88^3 &= 327\,107\\
480\,000 \times 0.88^4 &= 287\,854\\
480\,000 \times 0.88^5 &= 253\,311
\end{aligned}
$$

ہو گی لہٰذا پانچ سال میں اس کو ماہوار دیے گئے رقم کی اصل قدر درج بالا کا مجموعہ $1\,434\,404$ ہو گا۔

اس شخص کو کل $2\,638\,660 + 1\,434\,404 = 4\,073\,064$ قدر کے روپیہ واپس ہوتے ہیں۔ □

تابکاری

ایک ایٹم اپنی کمیت کا کچھ حصہ خارج کر کے دوسرے ایٹم میں تبدیل ہوتا ہے۔ اس عمل کو **تابکاری تحلیل**[۱۵] کہتے ہیں اور جس ایٹم نے مادہ خارج کیا ہو اس کو **تابکار**[۱۶] کہتے ہیں۔ تابکار کاربن 14 مادہ خارج کر کے نائٹروجن میں تبدیل ہوتا ہے، ریڈیم کئی درمیانی عمل تابکاری سے گزر کر آخر کار سیسہ میں تبدیل ہوتا ہے۔

تجربہ سے دیکھا گیا ہے کہ اکائی وقت میں خارج ذرات کی تعداد، اس وقت تابکار ایٹموں کی تعداد کے تقریباً راست تناسب ہوتا ہے۔ یوں تابکار تحلیل کو مساوات $\frac{\mathrm{d}y}{\mathrm{d}t} = -ky,\ k > 0$ ظاہر کرتی ہے (یہاں $k\ (< 0)$ کی جگہ $-k\ (k > 0)$ استعمال کرنا بہتر ثابت ہوتا ہے چونکہ اس طرح آپ دیکھ سکتے ہیں کہ y گھٹ رہا ہے)۔ اگر لمحہ $t = 0$ پر تابکار ایٹموں کی تعداد y_0 ہو تب لمحہ t پر درج ذیل ہو گا۔

$$y = y_0 e^{-kt}, \quad k > 0 \qquad \text{مساوات تابکاری} \qquad (۵)$$

مثال ۷.۳۲: نصف حیات

کسی عنصر کے آدھے ایٹموں کو تابکاری کے ذریعہ تبدیل ہونے کے لئے درکار وقت کو اس عنصر کی **نصف حیات**[۱۷] کہتے ہیں۔ کسی بھی عنصر کی نصف حیات، ابتدائی ایٹموں کی تعداد پر نہیں بلکہ عنصر پر منحصر ہوتی ہے۔

یہ دیکھنے کی خاطر کہ ایسا کیوں ہوتا ہے ہم ایک عنصر کو لیتے ہیں جس میں لمحہ $t = 0$ پر y_0 ایٹم پائے جاتے ہوں۔ ہم جاننا چاہتے ہیں کہ کتنے وقت کے بعد

---

[۱۵] radioactivedecay
[۱۶] radioactive
[۱۷] halflife

۱۰۷۹۶ اس میں نصف یعنی $\frac{y_0}{2}$ ایٹم پائے جائیں گے۔ ہم مساوات ۱۵ استعمال کرتے ہیں۔

$$\begin{aligned} y\frac{y_0}{2} &= y_0 e^{-kt} \\ e^{-kt} &= \frac{1}{2} \\ -kt &= \ln\frac{1}{2} = -\ln 2 \\ t &= \frac{\ln 2}{k} \end{aligned}$$

۱۰۷۹۷ اس قیمت $\left(t = \frac{\ln 2}{k}\right)$ کو نصف حیات کہتے ہیں جو صرف k پر منحصر ہے نا کہ ابتدائی ایٹموں کی تعداد پر۔ □

$$\text{نصف حیات} = \frac{\ln 2}{k} \qquad (۶)$$

۱۰۷۹۸ ریڈان 222 گیس کے لئے $k = 0.18$ دن ہے لہٰذا اس کی نصف حیات 3.8 دن ہو گی جبکہ رات کی تاریکی میں نظر آنے کی خاطر گھڑیوں میں استعمال
۱۰۷۹۹ ہونے والے ریڈیم 226 کا $k = 4.3 \times 10^{-4}$ سال ہے لہٰذا اس کی نصف حیات 1600 سال ہو گی۔

۱۰۸۰۰ مثال ۷.۳۳: پولونیم 210

۱۰۸۰۱ پولونیم 210 کی نصف حیات کو دنوں میں ناپا جاتا ہے۔ اگر $t = 0$ پر پولونیم 210 کے ایٹم پائے جاتے ہوں تب t دنوں بعد اس کے $y = y_0 e^{-5\times 10^{-3} t}$
۱۰۸۰۲ ایٹم ہوں گے۔ اس عنصر کی نصف حیات تلاش کریں۔

۱۰۸۰۳ حل:

$$\begin{aligned} \text{نصف حیات} &= \frac{\ln 2}{k} \\ &= \frac{\ln 2}{5 \times 10^{-3}} \\ &\approx 139 \text{ دن} \end{aligned}$$

۱۰۸۰۴ □

۱۰۸۰۵ مثال ۷.۳۴: کاربن 14 تعین زمان

۱۰۸۰۶ کاربن 14 جس کی نصف حیات 5700 سال ہے، کو عموماً قدیم چیزوں کی عمر معلوم کرنے کے لئے استعمال کیا جاتا ہے۔ ایک نمونہ میں 10 % تابکار کاربن
۱۰۸۰۷ کے ایٹم تبدیل تبدیل ہو چکے ہیں۔ اس نمونے کی عمر تلاش کریں۔

۱۰۸۰۸ حل: ہمیں پہلے k تلاش کرنا ہے۔ اس کے بعد ہم درکار وقت معلوم کریں گے۔ ہم مساوات ۱۵ استعمال کرتے ہیں۔ **پہلا قدم:** k کی تلاش۔

$$k = \frac{\ln 2}{} = \frac{\ln 2}{5700} \approx 1.2 \times 10^{-4}$$

۱۰۸۰۹ **دوسرا قدم:** درکار وقت جس میں 90% ایٹم باقی رہ جائے۔

$$0.9y_0 = y_0 e^{-\frac{\ln 2}{5700}t}$$
$$-\frac{\ln 2}{5700}t = \ln 0.9$$
$$t = -\frac{5700(\ln 0.9)}{\ln 2} \approx 866 \text{ سال}$$

۱۰۸۱۰ نمونہ 866 سال پرانا ہے۔ □

۱۰۸۱۱ کاربن 14 کے علاوہ دیگر تابکار عناصر کو بھی تعین زمان کے لئے استعمال کیا جا سکتا ہے۔ یورینیم (جس کی نصف حیات 4.5 ارب سال ہے) کو 2 ارب سال
۱۰۸۱۲ پرانے چٹانوں کے عمر تلاش کرنے کے لئے استعمال کیا گیا ہے۔

۱۰۸۱۳ **منتقلی حرارت: نیوٹن کا قانون ٹھنڈک**

۱۰۸۱۴ کوئی بھی گرم جسم کچھ دیر میں ٹھنڈا ہو کر ارد گرد ماحول کے درجہ حرارت پر آن پہنچتا ہے۔ جسم کے درجہ حرارت میں تبدیلی کی شرح، جسم اور ماحول کے درجہ
۱۰۸۱۵ حرارت میں فرق کے راست متناسب ہوتا ہے۔ اس حقیقت کو **نیوٹن کا قانون ٹھنڈک** کہتے ہیں۔

۱۰۸۱۶ گر لمحہ t پر جسم کا درجہ حرارت متغیر T ہو اور ارد گرد ماحول کا درجہ حرارت مستقل T_S ہو تب

$$\frac{\mathrm{d}T}{\mathrm{d}t} = -k(T - T_S) \tag{۷}$$

۱۰۸۱۷ ہو گا۔ اگر ہم $(T - T_S)$ کی جگہ y پر کریں تب

$$\begin{aligned}\frac{\mathrm{d}y}{\mathrm{d}t} &= \frac{\mathrm{d}}{\mathrm{d}t}(T - T_S) = \frac{\mathrm{d}T}{\mathrm{d}t} - \frac{\mathrm{d}T_S}{\mathrm{d}t} \\ &= \frac{\mathrm{d}T}{\mathrm{d}t} - 0 && T_S \text{ مستقل} \\ &= \frac{\mathrm{d}T}{\mathrm{d}t}\end{aligned}$$

۱۰۸۱۸ ہو گا۔ یوں y کے لحاظ سے مساوات ۷ درج ذیل ہو گا

$$\frac{\mathrm{d}y}{\mathrm{d}t} = -ky$$

۱۰۸۱۹ جس کا حل $y = y_0 e^{-kt}$ ہے۔ یوں **نیوٹن کا قانون ٹھنڈک**[۱۸]

$$T - T_S = (T_0 - T_S)e^{-kt} \tag{۸}$$ نیوٹن کا قانون ٹھنڈک

[۱۸] newton'slawofcooling

ہو گا جہاں لمحہ $t = 0$ پر جسم کا درجہ حرارت T_S ہے۔

مثال ۷.۳۵: ایک انڈے کو $98\,^\circ\mathrm{C}$ پر ابالنے کے بعد $18\,^\circ\mathrm{C}$ گرم پانی سے بھرے ہوئے بالٹی میں ڈالا جاتا ہے۔ پانچ منٹ گزرنے کے بعد انڈے کا درجہ حرارت $38\,^\circ\mathrm{C}$ ہوتا ہے۔ بالٹی میں پانی کے درجہ حرارت میں تبدیلی کو رد کریں۔ انڈا کتنی دیر میں $20\,^\circ\mathrm{C}$ تک پہنچے گا؟

حل: ہم پانچ منٹ بعد کی معلومات استعمال کرتے ہوئے پہلے k تلاش کرتے ہیں۔ مساوات ۸ کے تحت درج ذیل ہو گا۔

$$T = 18 + (98 - 18)e^{-kt} = 18 + 80e^{-kt}$$

پانچ منٹ بعد $T = 38$ ہو گا جس سے

$$\begin{aligned} 38 &= 18 + 80e^{-5k} \\ e^{-5k} &= \frac{1}{4} \\ -5k &= \ln\frac{1}{4} = -\ln 4 \\ k &= \frac{\ln 4}{5} = 0.2\ln 4 \approx 0.28 \end{aligned}$$

یوں لمحہ t پر $T = 18 + 80^{-(0.2\ln 4)t}$ ہو گا۔ ہمیں وہ t درکار ہے جس پر $T = 20$ ہو گا۔

$$\begin{aligned} 20 = 18 &= 80e^{-(0.2\ln 4)t} \\ 80e^{-(0.2\ln 4)t} &= 2 \\ e^{-(0.2\ln 4)t} &= \frac{1}{40} \\ -(0.2\ln 4)t &= \ln\frac{1}{40} = -\ln 40 \\ t &= \frac{\ln 40}{0.2\ln 4} \approx \text{13منٹ} \end{aligned}$$

بالٹی میں ڈالنے کے تقریباً 13 منٹ بعد انڈے کا درجہ حرارت $20\,^\circ\mathrm{C}$ ہو گا۔ □

سوالات

سوال ۷.۳۲۳: دانت کی جسامت

انسانی دانت کی جسامت گھٹ رہی ہے۔ شمالی یورپ کے لوگوں کے دانتوں کی جسامت 1000 سال میں 1 % گھٹتی ہے۔

۱. دانت کی جسامت کو y اور وقت کو t سے ظاہر کرتے ہوئے $t = 0$ پر y_0 اور $t = 1000$ پر $y = 0.99y_0$ لیتے ہوئے مساوات $y = y_0e^{kt}$ میں k تلاش کریں۔ k کی اس قیمت کو استعمال کرتے ہوئے درج ذیل کا جواب دیں۔

ب. کتنے سالوں میں دانت کی جسامت موجودہ جسامت کے 90 % ہو گی؟

ج. آج سے 20 000 سال بعد انسان کے دانت کی جسامت موجودہ جسامت کے لحاظ سے کتنی ہو گی؟

سوال ۷.۳۲۴: فضائی دباو

سطح سمندر سے h بلندی پر فضائی دباو p کی تبدیلی کی شرح $\frac{\mathrm{d}p}{\mathrm{d}h}$ عموماً p کی راست متناسب تصور کی جاتی ہے۔ سطح سمندر پر فضائی دباو $101\,293\ \mathrm{N\,m^{-2}}$ اور 20 km بلند پر $9000\ \mathrm{N\,m^{-2}}$ لیں۔

ا. درج ذیل ابتدائی قیمت مسئلہ حل کریں اور دی گئی معلومات سے k دریافت کریں۔

$$\frac{\mathrm{d}p}{\mathrm{d}h} = kp, \quad k \text{ مستقل} \qquad \text{تفرقی مساوات}$$

$$p = p_0, \quad h = 0 \qquad \text{ابتدائی معلومات}$$

ب. $h = 50\ \mathrm{km}$ پر فضائی دباو کتنا ہو گا؟

ج. کتنی بلندی پر $p = 90\,000\ \mathrm{N\,m^{-2}}$ ہو گا؟

سوال ۷.۳۲۵: کیمیائی عمل

بعض کیمیائی اعمال میں اجزاء کی تبدیلی کی شرح اس لمحے پر موجود مواد کی مقدار پر منحصر ہوتی ہے۔ ایسی ایک کیمیائی عمل کو

$$\frac{\mathrm{d}y}{\mathrm{d}t} = -0.6y$$

سے ظاہر کیا جا سکتا ہے جہاں مقدار y کو گرام اور وقت t کو گھنٹوں میں ناپا گیا ہے۔ اگر لمحہ $t = 0$ پر کیمیائی مواد کی مقدار 100 g ہو تب ایک گھنٹہ بعد اس کی کتنی مقدار پائی جائے گی؟

سوال ۷.۳۲۶: خام شکر کو ایک مرحلہ سے گزارا جاتا ہے جس میں شکر کے مالیکیول کی ساخت تبدیل ہوتی ہے۔ اس عمل کے شروع ہونے کے بعد کسی بھی لمحہ پر تبدیلی کی شرح، خام مال کی باقی مقدار کے راست تناسب ہوتی ہے۔ اگر 1000 kg خام مال سے شروع کرتے ہوئے ابتدائی 10 گھنٹوں بعد باقی خام مال کی مقدار 800 kg ہو تب مزید 14 گھنٹوں بعد خام مال کی مقدار کتنی ہو گی؟

سوال ۷.۳۲۷: زیر آب کام

سمندری پانی کی سطح سے x میٹر نیچے روشنی $L(x)$ درج ذیل تفرقی مساوات کو مطمئن کرتی ہے۔

$$\frac{\mathrm{d}L}{\mathrm{d}x} = -kL$$

آپ تجربہ سے جانتے ہیں کہ سطح سے 6 m نیچے روشنی کی شدت آدھی ہے۔ آپ سطحی روشنی کے $\frac{1}{10}$ حصہ میں کام کر سکتے ہیں۔ یوں کتنی گہرائی تک آپ کام کر سکیں گے؟

سوال ۷.۳۲۸: برق گیر میں برقی دباو

برق گیر سے برقی نکاسی کی شرح اس پر موجود برقی دباو کے راست تناسب ہے۔ یوں t سیکنڈ بعد اس پر دباو V درج ذیل کلیہ کو مطمئن کرتا ہے۔

$$\frac{\mathrm{d}V}{\mathrm{d}t} = -\frac{1}{40}V$$

کتنی دیر میں برقی دباو کی قیمت ابتدائی قیمت کے $10\,\%$ ہو گی؟

سوال ۷.۳۲۹: ہیضہ کے جراثیم

فرض کریں ہیضہ کے جراثیم بغیر رکاوٹ قوت نمائی طور پر بڑھ سکتے ہیں۔ لمحہ $t = 0$ پر ایک جرثومہ ہوتا ہے۔ جرثومہ آدھا گھنٹہ میں ٹوٹ کر دو جرثوموں میں تبدیل ہوتا ہے۔ 24 گھنٹوں بعد کتنے جرثومے پائے جائیں گے؟ (اگرچہ بیمار شخص کی جسم میں ہر گھنٹہ متعدد جرثومے مارے جاتے ہیں۔ اس مثال سے آپ دیکھ سکتے ہیں کہ صبح ظاہری طور پر بالکل تندرست شخص، شام کو یک دم کیوں بہت سخت بیمار ہو سکتا ہے۔)

سوال ۷.۳۳۰: جراثیم کی نمو آبادی

تجربہ گاہ میں ایک قسم کی جرثوموں کو افزائش کے لئے بہترین ماحول مہیا کیا جاتا ہے تاکہ ان کی تعداد قوت نمائی بڑھ سکے۔ 3 گھنٹوں بعد جرثوموں کی تعداد 10 000 اور 5 گھنٹوں بعد ان کی تعداد 40 000 ہوتی ہے۔ ابتدائی جرثوموں کی تعداد دریافت کریں۔

سوال ۷.۳۳۱: بیماری کا پھیلانا (مثال ۷.۲۹)

فرض کریں کہ مثال ۷.۲۹ میں کسی بھی ایک سال میں بیمار افراد کی تعداد میں $25\,\%$ کمی رونما ہوتی ہے۔

ا. کتنے سالوں میں بیماروں کی تعداد 1000 ہو گی؟

ب. کتنے عرصہ میں بیماری کا خاتمہ ہو گا۔ (بیماروں کی تعداد ایک سے کم ہونے کو خاتمہ تصور کیا جاتا ہے۔)

سوال ۷.۳۳۲: پاکستان کی آبادی

پاکستان کی آبادی میں ۲۰۱۷ء میں ہر 8 سیکنڈوں میں ایک بچے کا اضافہ ہوا۔

ا. قوت نمائی اضافہ $y = y_0 e^{kt}$ تصور کریں جہاں t وقت کو اور y تعداد کو ظاہر کرتی ہے۔ وقت کو سالوں میں لیتے ہوئے k کی قیمت تلاش کریں۔

ب. 5 سال بعد پاکستان کی آبادی کتنی ہو گی؟

سوال ۷.۳۳۳: تیل میں کمی

فرض کریں تیل کی کنواں سے حاصل تیل میں ہر سال $10\,\%$ کمی رونما ہوتی ہے۔ کتنے سالوں میں حاصل تیل کی مقدار $20\,\%$ رہ جائے گی؟

سوال ۷.۳۳۴: قیمت میں چھوٹ

فروخت میں اضافہ پیدا کرنے کی خاطر آپ کا ادارہ قیمت میں چھوٹ کو خریداری کے ساتھ یوں منسلک کرتا ہے کہ ایک شے کی قیمت $p(x)$ خریدی گئی اشیاء کی تعداد کا تفاعل ہو۔ ہر اضافی ایک عدد خریداری پر مزید $1\,\%$ چھوٹ دی جاتی ہے۔ 100 عدد کی خریداری پر فی اکائی قیمت $p(100) = 20.09$ روپیہ ہے۔

۱۰۸۸۰ ا. درج ذیل ابتدائی قیمت مسئلہ حل کر کے $p(x)$ تلاش کریں۔

$$\frac{\mathrm{d}p}{\mathrm{d}x} = -\frac{1}{100}p \qquad \text{تفرقی مساوات}$$
$$p(100) = 20.09 \qquad \text{ابتدائی معلومات}$$

۱۰۸۸۱ ب. دس عدد اشیاء کی خریداری پر فی اکائی قیمت $p(10)$ تلاش کریں۔ اسی طرح 100 کی خریداری پر فی اکائی قیمت $p(100)$ تلاش کریں۔

۱۰۸۸۲ ج. کیا 100 کی خریداری پر آمدنی $r(x) = x \cdot p(x)$ درحقیقت 90 کی خریداری پر آمدنی سے کم ہو گی؟ دکھائیں کہ حقیقت میں 100 کی
۱۰۸۸۳ خریداری پر آمدنی زیادہ سے زیادہ ہو گی۔

۱۰۸۸۴ د. آمدنی $r(x) = x \cdot p(x)$ کو $0 \leq x \leq 200$ کے لئے ترسیم کریں۔

۱۰۸۸۵ سوال ۷.۳۳۵: مسلسل سود در سود
۱۰۸۸۶ آپ بنک سے A_0 روپیہ کا قرضہ لیتے ہیں جس پر آپ کو $4\,\%$ مسلسل سود در سود ادا کرنا ہو گا۔

۱۰۸۸۷ ا. آپ کو 5 سال بعد کتنی رقم ادا کرنی ہو گی؟

۱۰۸۸۸ ب. آپ کو کتنے سالوں میں دگنی رقم ادا کرنی ہو گی؟ کتنے سالوں میں تگنی رقم ادا کرنی ہو گا؟

۱۰۸۸۹ سوال ۷.۳۳۶: اگر کسی رقم پر $100\,\%$ مسلسل سود در سود دیا جائے تب کتنے عرصہ میں رقم دگنی ہو گی؟ ایک سال میں سود کتنا ہو گا؟

۱۰۸۹۰ سوال ۷.۳۳۷: ایک شخص نے بنک میں رقم کو 100 سال کے لئے جمع کیا۔ سو سال بعد اس کے خاندان کو 90 گنّا رقم حاصل ہوتی ہے۔ مسلسل سود در
۱۰۸۹۱ سود کی شرح تلاش کریں۔
۱۰۸۹۲

۱۰۸۹۳ سوال ۷.۳۳۸: ایک شخص نے بنک میں رقم کو 100 سال کے لئے جمع کیا۔ سو سال بعد اس کے خاندان کو 131 گنّا رقم حاصل ہوتی ہے۔ مسلسل سود
۱۰۸۹۴ در سود کی شرح تلاش کریں۔

۱۰۸۹۵ سوال ۷.۳۳۹: ریڈان 222
۱۰۸۹۶ ریڈان 222 گیس کی تابکاری تحلیل کا کلیہ $y = y_0 e^{-0.18t}$ ہے جہاں وقت t کو دنوں میں ناپا جاتا ہے۔ کتنے عرصہ میں ریڈان 222 کے کسی بھی
۱۰۸۹۷ نمونہ میں $90\,\%$ مواد باقی ہو گا؟
۱۰۸۹۸

۱۰۸۹۹ سوال ۷.۳۴۰: پولونیم 210
۱۰۹۰۰ پولونیم 210 کی نصف حیات 139 دن ہے۔ اگر آپ کے پاس پولونیم 210 کے نمونہ میں $95\,\%$ مواد تابکاری کی وجہ سے تبدیل ہو جائے تب یہ نمونہ
۱۰۹۰۱ آپ کے کسی کام کا نہیں ہو گا۔ یہ نمونہ کتنے دنوں تک آپ کے کام کا ہو گا؟

۱۰۹۰۲ سوال ۷.۳۴۱: تابکار مادہ کی اوسط حیات
۱۰۹۰۳ تابکاری تحلیل کی مساوات $y = y_0 e^{-kt}$ میں $\frac{1}{k}$ کو تابکار مرکزہ کی **اوسط حیات**[19] کہتے ہیں۔ ریڈان مرکزہ کی اوسط حیات تقریباً $\frac{1}{0.18} = 5.6$
۱۰۹۰۴ دن ہے۔ کاربن 12 کی اوسط حیات تقریباً 8000 سال ہے۔ دکھائیں کہ کسی بھی تابکار مادہ کی تین اوسط حیات کے برابر وقت میں $95\,\%$ مادہ تبدیل ہو
۱۰۹۰۵ جائے گا۔ یوں نصف حیات سے آپ باآسانی معلوم کر سکتے ہیں کہ مادہ کتنے عرصہ میں ختم ہو گا۔

---

[19] meanlife

سوال ۷.۳۴۲: کیلی فورنیم 252

کیلی فورنیم 252 کو ۱۹۵۰ء میں ایجاد کیا گیا۔ اب تک مغربی دنیا میں اس عنصر کے صرف 8 g جمع کیے گئے ہیں۔ اس کی قیمت سونے سے 654 گنّا زیادہ ہے۔ اس کی نصف حیات 2.645 سال ہے اور 1 μg کیلی فورنیم فی سیکنڈ 170×10^6 تعدیلی برقیہ خارج کرتا ہے۔

ا. تابکاری تحلیل کی مساوات میں اس عنصر کا k کتنا ہو گا؟

ب. اس عنصر کی اوسط حیات کتنی ہو گی؟ (سوال ۷.۳۴۱ سے رجوع کریں۔)

ج. کتنے عرصہ میں 95 % عنصر تابکاری تحلیل کی وجہ سے تبدیل ہو جائے گا؟

سوال ۷.۳۴۳: یخنی

ایک کمرہ جس کا درجہ حرارت 20 °C ہے میں ایک پیالی یخنی کا درجہ حرارت دس منٹ میں 90 °C سے گر کر 60 °C ہوتا ہے۔ نیوٹن کا قانون ٹھنڈک استعمال کرتے ہوئے درج ذیل کا جواب دیں۔

ا. مزید کتنے وقت میں یخنی کا درجہ حرارت 35 °C ہو گا؟

ب. اگر 90 °C گرم یخنی کے پیالہ کو −15 °C کے ٹھنڈی فریج میں رکھا جائے تب اس کو 35 °C تک ٹھنڈا ہونے میں کتنا وقت درکار ہو گا؟

سوال ۷.۳۴۴: نامعلوم درجہ حرارت والا شہتیر

المونیم کے شہتیر کو باہر سے اندر لایا جاتا ہے۔ اندر درجہ حرارت 20 °C ہے جبکہ باہر موسم ٹھنڈا ہے۔ دس منٹ بعد شہتیر کا درجہ حرارت 2 °C ہے جبکہ مزید دس منٹ بعد اس کا درجہ حرارت 10 °C ہے۔ نیوٹن کا قانون ٹھنڈک استعمال کرتے ہوئے شہتیر کا ابتدائی درجی حرارت تلاش کریں۔

سوال ۷.۳۴۵: ارد گرد ماحول کا درجہ حرارت نامعلوم

ایک جگ جو 46 °C درجہ حرارت پانی سے بھرا ہوا ہے کو فریج میں رکھا جاتا ہے۔ دس منٹ بعد اس کا درجہ حرارت 39 °C ہوتا ہے۔ مزید دس منٹ بعد اس کا درجہ حرارت 33 °C ہوتا ہے۔ نیوٹن کا قانون ٹھنڈک استعمال کرتے ہوئے فریج کا درجہ حرارت تلاش کریں۔

سوال ۷.۳۴۶: فضا میں کسی چیز کو ٹھنڈا کرنا

چاندی کے سلاخ کا موجودہ درجہ حرارت، کمرے کے درجہ حرارت سے 60 °C زیادہ ہے۔ بیس منٹ پہلے اس کا درجہ حرارت، کمرے کے درجہ حرارت سے 70 °C زیادہ تھا۔ (ا) پندرہ منٹ کے بعد اس کا درجہ حرارت، کمرے سے کتنا زیادہ ہو گا؟ (ب) دو گھنٹوں بعد کتنا ہو گا؟ (ج) کتنی دیر بعد کمرے سے سلاخ کا درجہ حرارت 10 °C زیادہ ہو گا؟

سوال ۷.۳۴۷: آتش فشاں

زمانہ قدیم میں ایک آتش فشاں کے پھٹنے سے قریبی درخت جل جاتے ہیں اور آتش فشاں میں ایک جھیل بن جاتا ہے۔ اس جھیل میں موجود کوئلہ میں زندہ درختوں کے لحاظ سے 44.5 % کاربن 14 پایا جاتا ہے۔ یہ جھیل کتنا قدیم ہے؟

سوال ۷.۳۴۸: کاربنی تعین زمان کی حساسیت

آئیں دیکھیں کہ نمونہ میں پائے جانے والے کاربن کی مقدار میں معمولی خلل، نتائج میں کس قدر فرق پیدا کرتا ہے۔

ا. ایک متحجر ہڈی[۲۰] ۲۰۰۰ء میں دریافت کی گئی۔ اس میں ابتدائی کاربن 14 کا 17 % حصہ باقی تھا۔ یہ جانور کب زندہ تھا؟

---

[۲۰] fossilbone

ب. اگر جزو-امیں 17 % کے بجائے 18 % حصہ باقی ہو تب کیا جواب ہو گا؟

ج. اگر جزو-امیں 17 % کے بجائے 16 % حصہ باقی ہو تب کیا جواب ہو گا؟

سوال ۷.۳۴۹: جعلی تصویر

ایک تصویر جو ۱۶۳۲ء اور ۱۶۷۵ء کے درمیان بنائی گئی کی نقل میں کاربن 14 کی ابتدائی قیمت کا 99.5 % حصہ باقی ہے۔ یہ نقلی تصویر کتنی پرانی ہے؟

۷.۶ قاعدہ لھوپیٹال

ایسا کسر جس کا نسب نما اور شمار کنندہ دونوں تحدیدی نقطہ پر صفر کو پہنچتے ہوں، کا حد تلاش کرنے کا قاعدہ یعقوب برنولی نے دریافت کیا جس کو **قاعدہ لھوپیٹال** کہتے ہیں۔

غیر معین حاصل تقسیم

اگر نقطہ $x = a$ پر تفاعل $f(x)$ اور $g(x)$ کی قیمتیں صفر ہوں تب $x = a$ پر کرتے ہوئے $\lim_{x\to a} \frac{f(x)}{g(x)}$ کا حصول ممکن نہیں ہو گا چونکہ ایسا کرنے سے $\frac{0}{0}$ ملتا ہے جو بے معنی ہے اور جس کو **غیر معین روپ**[۲۱] کہتے ہیں۔ اب تک ہم دیکھ چکے ہیں کہ جو حد غیر معین روپ دیں ان کا حد تلاش کرنا کبھی آسان اور کبھی مشکل ہوتا ہے۔ ہم نے حصہ ۳.۴ میں کافی محنت کے بعد $\lim_{x\to 0} \frac{\sin x}{x}$ کی قیمت حاصل کی۔ اس کے برعکس تفرق کے حصول میں استعمال ہونے والا درج ذیل حد تلاش کرنے میں ہمیں کوئی دشواری پیش نہیں ہوئی،

$$f'(a) = \lim_{x\to a} \frac{f(x) - f(a)}{x - a}$$

اگرچہ اس حد میں $x = a$ پر کرنے سے ہر صورت $\frac{0}{0}$ حاصل ہوتا ہے۔ قاعدہ لھوپیٹال کی مدد سے ہم تفرق کے حصول میں حد کے استعمال سے استفادہ کرتے ہوئے ان حد کو تلاش کرتے ہیں جو غیر معین روپ کو جنم دیتے ہیں۔

مسئلہ ۷.۲: **قاعدہ لھوپیٹال (پہلی صورت)**

فرض کریں کہ $f(a) = g(a) = 0$ ہے جبکہ $f'(a)$ اور $g'(a)$ موجود ہیں جہاں $g'(a) \neq 0$ ہے۔ تب درج ذیل ہو گا۔

$$\lim_{x\to a} \frac{f(x)}{g(x)} = \frac{f'(a)}{g'(a)} \tag{۱}$$

[۲۱] intermediateform

۱۰۹۵۵ ثبوت: ہم $f'(a)$ اور $g'(a)$، جو از خود حد کو ظاہر کرتے ہیں، سے شروع کرتے ہوئے واپس چلتے ہیں۔ یوں درج ذیل ہو گا۔

$$\begin{aligned}\frac{f'(a)}{g'(a)} &= \frac{\lim_{x\to a}\frac{f(x)-f(a)}{x-a}}{\lim_{x\to a}\frac{g(x)-g(a)}{x-a}} = \lim_{x\to a}\frac{\frac{f(x)-f(a)}{x-a}}{\frac{g(x)-g(a)}{x-a}}\\ &= \lim_{x\to a}\frac{f(x)-f(a)}{g(x)-g(a)}\\ &= \lim_{x\to a}\frac{f(x)-0}{g(x)-0}\\ &= \lim_{x\to a}\frac{f(x)}{g(x)}\end{aligned}$$

۱۰۹۵۶ □

۱۰۹۵۷ قاعدہ لھوپیٹال استعمال کرتے ہوئے f کے تفرق f' کو g کے تفرق g' سے تقسیم کریں۔ یاد رہے کہ $\frac{f}{g}$ کا تفرق $\left(\frac{f}{g}\right)'$ درست نتیجہ نہیں دیگا۔

۱۰۹۵۸ مثال ۷.۳۶:

$$\text{(ا)}\quad \lim_{x\to 0}\frac{3x-\sin x}{x} = \left.\frac{3-\cos x}{a}\right|_{x=0} = 2$$

$$\text{(ب)}\quad \lim_{x\to 0}\frac{\sqrt{1+x}-1}{x} = \left.\frac{\frac{1}{2\sqrt{1+x}}}{1}\right|_{x=0} = \frac{1}{2}$$

$$\text{(ج)}\quad \lim_{x\to 0}\frac{x-\sin x}{x^3} = \left.\frac{1-\cos x}{3x^2}\right|_{x\to 0} = ?$$ اب بھی $\frac{0}{0}$ ملتا ہے

۱۰۹۵۹ □

۱۰۹۶۰ ہم دیکھتے ہیں کہ مثال ۷.۳۶ کے جزو-ج میں قاعدہ لھوپیٹال کے استعمال کے باوجود $\frac{0}{0}$ حاصل ہوتا ہے۔ قاعدہ لھوپیٹال کی بہتر روپ کہتی ہے کہ جب تک ہمیں
۱۰۹۶۱ $\frac{0}{0}$ حاصل ہو ہم اس قاعدہ کو بار بار استعمال کر سکتے ہیں۔ یوں اس مثال کو حل کرتے ہیں:

$$\begin{aligned}\lim_{x\to 0}\frac{x-\sin x}{x^3} &= \lim_{x\to 0}\frac{1-\cos x}{3x^2} && \text{اب بھی } \tfrac{0}{0} \text{ ملتا ہے}\\ &= \lim_{x\to 0}\frac{\sin x}{6x} && \text{اب بھی } \tfrac{0}{0} \text{ ملتا ہے}\\ &= \lim_{x\to 0}\frac{\cos x}{6} = \frac{1}{6} && \text{اس بار } \tfrac{0}{0} \text{ نہیں ملا}\end{aligned}$$

۱۰۹۶۲ مسئلہ ۷.۳: **قاعدہ لھوپیٹال (بہتر روپ)**

۱۰۹۶۳ فرض کریں کہ $f(a) = g(a) = 0$ ہے جبکہ f اور g کھلے وقفہ I پر قابل تفرق ہیں۔ اس وقفہ پر نقطہ a پایا جاتا ہے۔ مزید فرض کریں کہ

۱۰۹۶۴ $x \neq a$ کی صورت میں I پر $g'(x) \neq 0$ ہے۔ تب درج ذیل ہو گا

$$\lim_{x\to 0}\frac{f(x)}{g(x)} = \lim_{x\to a}\frac{f'(x)}{g'(x)} \tag{۲}$$

۱۰۹۶۵ اگر دائیں ہاتھ حد موجود ہو یا یہ ∞ اور یا $-\infty$ ہو۔

۱۰۹۶۶

۱۰۹۶۷ اس مسئلے کا ثبوت کتاب کے آخر میں ضمیمہ میں پیش کیا گیا ہے۔

۱۰۹۶۸ مثال ۷.۳۷:

$$\begin{aligned}
&\lim_{x\to 0}\frac{\sqrt{1+x}-\frac{x}{2}}{x^2} && \frac{0}{0}\\
&\quad = \lim_{x\to a}\frac{\frac{1}{2}(1+x)^{-1/2}-\frac{1}{2}}{2x} && \frac{0}{0}\\
&\quad = \lim_{x\to a}\frac{-\frac{1}{4}(1+x)^{-3/2}}{2} = -\frac{1}{8} && \text{نہیں ہے } \frac{0}{0}
\end{aligned}$$

۱۰۹۶۹ □

۱۰۹۷۰ قاعدہ لھوپیٹال استعمال کرتے ہوئے جیسے $\frac{0}{0}$ سے کچھ ہٹ کر ملتا ہے آپ حد تلاش کر پائیں گے۔

۱۰۹۷۱ مثال ۷.۳۸:

$$\begin{aligned}
&\lim_{x\to 0}\frac{1-\cos x}{x+x^2} && \text{ملتا ہے } \frac{0}{0}\\
&\quad = \lim_{x\to 0}\frac{\sin x}{1+2x} = \frac{0}{1} = 0 && \text{نہیں ہے } \frac{0}{0}
\end{aligned}$$

۱۰۹۷۲ اگر $\frac{0}{0}$ ملنے کے بعد رکنے کے بجائے ہم مزید ایک بار قاعدہ لھوپیٹال استعمال کریں تب ہمیں درج ذیل **غلط** نتیجہ حاصل ہو گا۔

$$\lim_{x\to 0}\frac{1-\cos x}{x+x^2} = \lim_{x\to 0}\frac{\sin x}{1+2x} = \lim_{x\to 0}\frac{\cos x}{2} = \frac{1}{2}$$

۱۰۹۷۳ □

۱۰۹۷۴ مثال ۷.۳۹:

$$\begin{aligned}
&\lim_{x\to 0^+}\frac{\sin x}{x^2} && \frac{0}{0}\\
&\quad = \lim_{x\to 0^+}\frac{\cos x}{2x} = \infty && \text{نہیں ملا } \frac{0}{0}
\end{aligned}$$

□

قاعدہ لھوپیٹال وہاں بھی قابل استعمال ہو گا جہاں غیر معین روپ $\frac{\infty}{\infty}$ ہو۔ اگر $x \to a$ کرنے سے $f(x)$ اور $g(x)$ دونوں لا متناہی تک پہنچتے ہوں تب اگر درج ذیل میں دایاں حد موجود ہو تب

$$\lim_{x\to a} \frac{f(x)}{g(x)} = \lim_{x\to a} \frac{f'(x)}{g'(x)}$$

ہو گا۔ یہاں a از خود متناہی یا لا متناہی ہو سکتا ہے۔

مثال ۷.۴۰:

$$\frac{\infty}{\infty}$$

$$(ا) \quad \lim_{x\to(\frac{\pi}{2})^-} \frac{\sec x}{1+\tan x}$$

$$= \lim_{x\to(\frac{\pi}{2})^-} \frac{\sec x \tan x}{\sec^2 x} = \lim_{x\to(\frac{\pi}{2})^-} \sin x = 1$$

$$(ب) \quad \lim_{x\to\infty} \frac{\ln x}{2\sqrt{x}} = \lim_{x\to\infty} \frac{\frac{1}{x}}{\frac{1}{\sqrt{x}}} = \lim_{x\to\infty} \frac{1}{\sqrt{x}} = 0$$

□

غیر معین حاصل ضرب اور فرق

بعض اوقات ہم غیر معین روپ $0 \cdot \infty$ اور $\infty - \infty$ کو الجبرا کی مدد سے $\frac{0}{0}$ یا $\frac{\infty}{\infty}$ لکھ سکتے ہیں۔ یاد رہے کہ ہم یہ نہیں کہتے ہیں کہ عدد $0 \cdot \infty$ یا $\infty - \infty$ موجود ہے اور نا ہی ہم کہتے ہیں کہ عدد $\frac{0}{0}$ یا $\frac{\infty}{\infty}$ موجود ہے۔ یہ روپ کسی بھی عدد کو ظاہر نہیں کرتے ہیں بلکہ محض تفاعل کے رویہ کو بیان کرتے ہیں۔

مثال ۷.۴۱:

$0 \cdot \infty$ کی وجہ سے $x \cot x$ کو مختلف روپ میں لکھیں

$$\lim_{x\to 0^+} x \cot x$$

$$= \lim_{x\to 0^+} x \cdot \frac{1}{\tan x}$$

اب $\frac{0}{0}$ ملتا ہے

$$= \lim_{x\to 0^+} \frac{x}{\tan x}$$

$$= \lim_{x\to 0^+} \frac{1}{\sec^2 x} = \frac{1}{1} = 1$$

□

۱۰۹۸۷ مثال ۷.۴۲: تلاش کریں: $\lim_{x\to 0}\left(\frac{1}{\sin x}-\frac{1}{x}\right)$

۱۰۹۸۸ حل: اگر $x\to 0^+$ ہو تب $\sin x\to 0^+$ اور درج ذیل ہو گا۔

$$\frac{1}{\sin x}-\frac{1}{x}\to\infty-\infty$$

۱۰۹۸۹ اسی طرح اگر $x\to 0^-$ ہو تب $\sin x\to 0^-$ اور درج ذیل ہو گا۔

$$\frac{1}{\sin x}-\frac{1}{x}=-\infty-(\infty)=-\infty+\infty$$

۱۰۹۹۰ دونوں صورتوں میں ہم حد جاننا ممکن نہیں ہے۔ ہمیں تفاعل کو نئی صورت

$$\frac{1}{\sin x}-\frac{1}{x}=\frac{x-\sin x}{x\sin x}$$

۱۰۹۹۱ میں لکھ کر قاعدہ لھوپیٹال استعمال کرتے ہیں:

$$\begin{aligned}\lim_{x\to 0}\left(\frac{1}{\sin x}-\frac{1}{x}\right)&=\lim_{x\to 0}\frac{x-\sin x}{x\sin x} && \frac{0}{0}\\ &=\lim_{x\to 0}\frac{1-\cos x}{\sin x+x\cos x} && \text{اب بھی } \frac{0}{0} \text{ ملتا ہے}\\ &=\lim_{x\to 0}\frac{\sin x}{2\cos x-x\sin x}=\frac{0}{2}=0\end{aligned}$$

۱۰۹۹۲ □

۱۰۹۹۳ ناقابل معلوم طاقت

۱۰۹۹۴ بعض اوقات ایسے حد جو ناقابل معلوم روپ 1^∞ ، 0^0 یا ∞^0 دیتے ہوں کا لوگارتھم پہلے لینے سے حد تلاش کرنا ممکن ہو جاتا ہے۔ ہم قاعدہ لھوپیٹال سے
۱۰۹۹۵ لوگارتھم کا حد حاصل کر کے قوت نما سے اصل تفاعل کا رویہ جانتے ہیں۔

۱۰۹۹۶ اگر $\lim_{x\to a}\ln f(x)=L$ ہو تب

$$\lim_{x\to a}f(x)=\lim_{x\to a}e^{\ln f(x)}=e^L$$

۱۰۹۹۷ ہو گا جہاں a متناہی یا لا متناہی ہو سکتا ہے۔

۱۰۹۹۸ مثال ۷.۴۳: دکھائیں $\lim_{x\to 0^+}(1+x)^{1/x}=e$

۱۰۹۹۹ حل: حد تلاش کرنے سے ناقابل معلوم روپ 1^∞ حاصل ہوتا ہے لہٰذا ہم $f(x)=(1+x)^{1/x}$ لیتے ہوئے
۱۱۰۰۰ $\lim_{x\to 0^+}\ln f(x)$ تلاش کرتے ہیں۔ چونکہ

$$\ln f(x)=\ln(1+x)^{1/x}=\frac{1}{x}\ln(1+x)$$

۱۱۰۰۱ ہے لہٰذا قاعدہ لھوپیٹال

$$\begin{aligned}\lim_{x\to 0^+} &= \lim_{x\to 0^+} \frac{\ln(1+x)}{x} && \frac{0}{0}\\ &= \lim_{x\to 0^+} \frac{\frac{1}{1+x}}{1}\\ &= \frac{1}{1} = 1\end{aligned}$$

۱۱۰۰۲ دیگا۔ یوں اصل تفاعل کا حد درج ذیل ہو گا۔

$$\lim_{x\to 0^+} (1+x)^{1/x} = \lim_{x\to 0^+} f(x) = \lim_{x\to 0^+} e^{\ln f(x)} = e^1 = e$$

۱۱۰۰۳ □

۱۱۰۰۴ مثال ۷.۴۴: حد $\lim_{x\to\infty} x^{1/x}$ تلاش کریں۔

۱۱۰۰۵ حل: حد کی تلاش ناقابل معلوم روپ ∞^0 دیتا ہے۔ ہم $f(x) = x^{1/x}$ لے کر $\lim_{x\to\infty} \ln f(x)$ تلاش کرتے ہیں۔ چونکہ

$$\ln f(x) = \ln x^{1/x} = \frac{\ln x}{x}$$

۱۱۰۰۶ ہے لہٰذا قاعدہ لھوپیٹال

$$\begin{aligned}\lim_{x\to\infty} \ln f(z) &= \lim_{x\to\infty} \frac{\ln x}{x} && \frac{\infty}{\infty}\\ &= \lim_{x\to\infty} \frac{1/x}{1}\\ &= \frac{0}{1} = 0\end{aligned}$$

۱۱۰۰۷ دیگا۔ یوں اصل حد درج ذیل ہو گا۔

$$\lim_{x\to\infty} x^{1/x} = \lim x \to \infty f(x) = \lim_{x\to\infty} e^{\ln f(x)} = e^0 = 1$$

۱۱۰۰۸ □

۱۱۰۰۹ **سوالات**

۱۱۰۱۰ **قاعدہ لھوپیٹال کا استعمال**

۱۱۰۱۱ سوال ۷.۳۵۰ تا سوال ۷.۳۹۱ میں قاعدہ لھوپیٹال استعمال کرتے ہوئے حد تلاش کریں۔

۱۱۰۱۲ سوال ۷.۳۵۰: $\lim_{x\to 2} \frac{x-2}{x^2-4}$

۱۱۰۱۳ سوال ۷.۳۵۱: $\lim_{x\to -5} \frac{x^2-25}{x+5}$

۱۱۰۱۴ سوال ۷.۳۵۲: $\lim_{t\to -3} \frac{t^3-4t+15}{t^2-t-12}$

۱۱۰۱۵ سوال ۷.۳۵۳: $\lim_{t\to 1} \frac{t^3-1}{4t^3-t-3}$

۱۱۰۱۶ سوال ۷.۳۵۴: $\lim_{x\to \infty} \frac{5x^2-3x}{7x^2+1}$

۱۱۰۱۷ سوال ۷.۳۵۵: $\lim_{x\to \infty} \frac{x-8x^2}{12x^2+5x}$

۱۱۰۱۸ سوال ۷.۳۵۶: $\lim_{t\to 0} \frac{\sin t^2}{t}$

۱۱۰۱۹ سوال ۷.۳۵۷: $\lim_{t\to 0} \frac{\sin 5t}{t}$

۱۱۰۲۰ سوال ۷.۳۵۸: $\lim_{x\to 0} \frac{8x^2}{\cos x-1}$

۱۱۰۲۱ سوال ۷.۳۵۹: $\lim_{x\to 0} \frac{\sin x-x}{x^3}$

۱۱۰۲۲ سوال ۷.۳۶۰: $\lim_{\theta\to \frac{\pi}{2}} \frac{2\theta-\pi}{\cos(2\pi-\theta)}$

۱۱۰۲۳ سوال ۷.۳۶۱: $\lim_{\theta\to \frac{\pi}{3}} \frac{3\theta+\pi}{\sin(\theta+\frac{\pi}{3})}$

۱۱۰۲۴ سوال ۷.۳۶۲: $\lim_{\theta\to \frac{\pi}{2}} \frac{1-\sin\theta}{1+\cos 2\theta}$

۱۱۰۲۵ سوال ۷.۳۶۳: $\lim_{x\to 1} \frac{x-1}{\ln x-\sin \pi x}$

۱۱۰۲۶ سوال ۷.۳۶۴: $\lim_{x\to 0} \frac{x^2}{\ln(\sec x)}$

۱۱۰۲۷ سوال ۷.۳۶۵: $\lim_{x\to \frac{\pi}{2}} \frac{\ln(\csc x)}{(x-\frac{\pi}{2})^2}$

۱۱۰۲۸ سوال ۷.۳۶۶: $\lim_{t\to 0} \frac{t(1-\cos t)}{t-\sin t}$

۱۱۰۲۹ سوال ۷.۳۶۷: $\lim_{t\to 0} \frac{t\sin t}{1-\cos t}$

۱۱۰۳۰ سوال ۷.۳۶۸: $\lim_{x\to (\frac{\pi}{2})^-} \left(x-\frac{\pi}{2}\right)\sec x$

۱۱۰۳۱ سوال ۷.۳۶۹: $\lim\limits_{x\to(\frac{x}{2})^-} \left(\frac{\pi}{2}-x\right)\tan x$

۱۱۰۳۲ سوال ۷.۳۷۰: $\lim\limits_{\theta\to 0} \frac{3^{\sin\theta}-1}{\theta}$

۱۱۰۳۳ سوال ۷.۳۷۱: $\lim\limits_{\theta\to 0} \frac{(\frac{1}{2})^{\theta}-1}{\theta}$

۱۱۰۳۴ سوال ۷.۳۷۲: $\lim\limits_{x\to 0} \frac{x2^x}{2^x-1}$

۱۱۰۳۵ سوال ۷.۳۷۳: $\lim\limits_{x\to 0} \frac{3^x-1}{2^x-1}$

۱۱۰۳۶ سوال ۷.۳۷۴: $\lim\limits_{x\to\infty} \frac{\ln(x+1)}{\log_2 x}$

۱۱۰۳۷ سوال ۷.۳۷۵: $\lim\limits_{x\to\infty} \frac{\log_2 x}{\log_3(x+3)}$

۱۱۰۳۸ سوال ۷.۳۷۶: $\lim\limits_{x\to 0^+} \frac{\ln(x^2+2x)}{\ln x}$

۱۱۰۳۹ سوال ۷.۳۷۷: $\lim\limits_{x\to 0^+} \frac{\ln(e^x-1)}{\ln x}$

۱۱۰۴۰ سوال ۷.۳۷۸: $\lim\limits_{y\to 0} \frac{\sqrt{5y+25}-5}{y}$

۱۱۰۴۱ سوال ۷.۳۷۹: $\lim\limits_{y\to 0} \frac{\sqrt{ay+a^2}-a}{y}, \quad a>0$

۱۱۰۴۲ سوال ۷.۳۸۰: $\lim\limits_{x\to\infty} (\ln 2x - \ln(x+1))$

۱۱۰۴۳ سوال ۷.۳۸۱: $\lim\limits_{x\to 0^+} (\ln x - \ln\sin x)$

۱۱۰۴۴ سوال ۷.۳۸۲: $\lim\limits_{x\to 0^+} \left(\frac{1}{x}-\frac{1}{\sin x}\right)$

۱۱۰۴۵ سوال ۷.۳۸۳: $\lim\limits_{x\to 0^+} \left(\frac{3x+1}{x}-\frac{1}{\sin x}\right)$

۱۱۰۴۶ سوال ۷.۳۸۴: $\lim\limits_{x\to 1^+} \left(\frac{1}{x-1}-\frac{1}{\ln x}\right)$

۱۱۰۴۷ سوال ۷.۳۸۵: $\lim\limits_{x\to 0^+} (\csc x - \cot x + \cos x)$

۱۱۰۴۸ سوال ۷.۳۸۶: $\lim\limits_{x\to\infty} \int_x^{2x} \frac{1}{t}\,\mathrm{d}t$

۱۱۰۴۹ سوال ۷.۳۸۷: $\lim\limits_{x\to\infty} \frac{1}{x\ln x}\int_1^x \ln t\,\mathrm{d}t$

سوال ۷.۳۸۸: $\lim_{\theta\to 0} \frac{\cos\theta - 1}{e^{\theta} - \theta - 1}$

سوال ۷.۳۸۹: $\lim_{h\to 0} \frac{e^{h} - (1+h)}{h^2}$

سوال ۷.۳۹۰: $\lim_{t\to\infty} \frac{e^{t} + t^2}{e^{t} - t}$

سوال ۷.۳۹۱: $\lim_{x\to\infty} x^2 e^{-x}$

حد جن میں اسار اور قوت نما پائے جاتے ہوں

سوال ۷.۳۹۲ تا سوال ۷.۴۰۱ میں حد تلاش کریں۔

سوال ۷.۳۹۲: $\lim_{x\to 1^+} x^{1/(1-x)}$

سوال ۷.۳۹۳: $\lim_{x\to 1^+} x^{1/(x-1)}$

سوال ۷.۳۹۴: $\lim_{x\to\infty} (\ln x)^{1/x}$

سوال ۷.۳۹۵: $\lim_{x\to e^+} (\ln x)^{1/(x-e)}$

سوال ۷.۳۹۶: $\lim_{x\to 0^+} x^{-1/\ln x}$

سوال ۷.۳۹۷: $\lim_{x\to\infty} x^{1/\ln x}$

سوال ۷.۳۹۸: $\lim_{x\to\infty} (1+2x)^{1/(2\ln x)}$

سوال ۷.۳۹۹: $\lim_{x\to 0} (e^{x} + x)^{1/x}$

سوال ۷.۴۰۰: $\lim_{x\to 0^+} x^{x}$

سوال ۷.۴۰۱: $\lim_{x\to 0^+} \left(1 + \frac{1}{x}\right)^{x}$

نظریہ اور استعمال

سوال ۷.۴۰۲ تا سوال ۷.۴۰۵ میں قاعدہ لھوپیٹال سے حد تلاش کرنا ممکن نہیں ہو گا۔ آپ گول دائرے میں گھومتے رہیں گے۔ کسی دوسرے طریقہ سے حد تلاش کریں۔

سوال ۷.۴۰۲: $\lim_{x\to\infty} \frac{\sqrt{9x+1}}{\sqrt{x+1}}$

سوال ۷.۴۰۳: $\lim_{x\to 0^+} \frac{\sqrt{x}}{\sqrt{\sin x}}$

سوال ۷.۴۰۴: $\lim_{x\to (\pi/2)^-} \frac{\sec x}{\tan x}$

۱۱۰۷۲ سوال ۷.۴۰۵: $\lim\limits_{x\to 0^+} \frac{\cot x}{\csc x}$

۱۱۰۷۳ سوال ۷.۴۰۶: درج ذیل میں کون سا درست اور کون سا غلط ہے۔ اپنے جواب کی وجہ پیش کریں۔

۱۱۰۷۴ ا. $\lim\limits_{x\to 3} \frac{x-3}{x^2-3} = \lim_{x\to 3} \frac{1}{2x} = \frac{1}{6}$

۱۱۰۷۵ ب. $\lim\limits_{x\to 3} \frac{x-3}{x^2-3} = \frac{0}{6} = 0$

۱۱۰۷۶ سوال ۷.۴۰۷: درج ذیل میں کون سا درست اور کون سا غلط ہے۔ اپنے جواب کی وجہ پیش کریں۔

۱۱۰۷۷ ا. $\lim\limits_{x\to 0} \frac{x^2-2x}{x^2-\sin x} = \lim\limits_{x\to 0} \frac{2x-2}{2x-\cos x} = \lim\limits_{x\to 0} \frac{2}{2+\sin x} = \frac{2}{2+0} = 1$

۱۱۰۷۸ ب. $\lim\limits_{x\to 0} \frac{x^2-2x}{x^2-\sin x} = \lim\limits_{x\to 0} \frac{2x-2}{2x-\cos x} = \frac{-2}{0-1} = 2$

۱۱۰۷۹ سوال ۷.۴۰۸: درج ذیل میں صرف ایک درست ہے۔ اس کو تلاش کریں۔ باقی دو کیوں غلط ہیں؟ اپنے جواب کی وجہ بیان کریں۔

۱۱۰۸۰ ا. $\lim\limits_{x\to 0^+} x\ln x = 0\cdot(-\infty) = 0$

۱۱۰۸۱ ب. $\lim\limits_{x\to 0^+} x\ln x = 0\cdot(-\infty) = -\infty$

۱۱۰۸۲ ج. $\lim\limits_{x\to 0^+} x\ln x = \lim\limits_{x\to 0^+} \frac{\ln x}{(1/x)} = \frac{-\infty}{\infty} = -1$

۱۱۰۸۳ د. $\lim\limits_{x\to 0^+} x\ln x = \lim\limits_{x\to 0^+} \frac{\ln x}{(1/x)} = \lim\limits_{x\to 0^+} \frac{(1/x)}{(-1/x^2)} = \lim\limits_{x\to 0^+} (-x) = 0$

۱۱۰۸۴ سوال ۷.۴۰۹: درج ذیل فرض کریں۔

$$f(x) = \begin{cases} x+2, & x \neq 0 \\ 0, & x = 0 \end{cases}$$

$$g(x) = \begin{cases} x+1, & x \neq 0 \\ 0, & x = 0 \end{cases}$$

۱۱۰۸۵ دکھائیں کہ $\lim_{x\to 0} \frac{f'(x)}{g'(x)} = 1$ مگر $\lim_{x\to 0} \frac{f(x)}{g(x)} = 2$ ہے۔ کیا یہ قاعدہ لھوپیٹال کی تردید کرتا ہے؟ اپنے جواب کی وجہ پیش کریں۔

۱۱۰۸۶ سوال ۷.۴۱۰: درج ذیل تفاعل کو $x = 0$ پر استمراری بنانے کے لئے درکار c کی قیمت تلاش کریں۔

$$f(x) = \begin{cases} \frac{9x-3\sin 3x}{5x^3}, & x \neq 0 \\ c, & x = 0 \end{cases}$$

۱۱۰۸۷ آپ کی منتخب کردہ c کی قیمت کیوں درست ہے؟

سوال ۷.۴۱۱: درج ذیل تفاعل کو $\theta = 0$ پر دائیں سے استمراری بنانے کے لئے درکار c کی قیمت تلاش کریں۔

$$g(\theta) = \begin{cases} \frac{(\tan\theta)^2}{\sin(4\theta^2/\pi)}, & \theta \neq 0 \\ c, & \theta = 0 \end{cases}$$

آپ کی منتخب کردہ c کی قیمت کیوں درست ہے؟

سوال ۷.۴۱۲: مسلسل سود در سود کا کلیہ

ہم نے حصہ ۷.۵ میں مسلسل سود در سود کا کلیہ $A(t) = A_0 e^{rt}$ اخذ کرتے ہوئے درج ذیل دعویٰ کیا تھا۔

$$\lim_{k\to\infty} A_0\left(1+\frac{r}{k}\right)^{kt} = A_0 e^{rt}$$

یہ دعویٰ تب درست ہو گا جب درج ذیل درست ہو

$$\lim_{k\to\infty} \left(1+\frac{r}{k}\right)^{kt} = e^{rt}$$

اور یہ اس صورت درست ہو گا جب درج ذیل ہو۔

$$\lim_{k\to\infty} \left(1+\frac{r}{k}\right)^{k} = e^{r}$$

جیسا آپ دیکھ سکتے ہیں، حد سے ناقابل معلوم روپ 1^∞ حاصل ہوتی ہے۔ قاعدہ لھوپیٹال سے حد کی تصدیق کریں۔

سوال ۷.۴۱۳: اگر $x > 0$ ہو تب درج ذیل کی زیادہ سے زیادہ قیمت (اگر پائی جاتی ہو تب) تلاش کریں۔

ا. $x^{1/x}$

ب. x^{1/x^2}

ج. n مثبت عدد صحیح ہے، x^{1/x^n}

د. دکھائیں کہ ہر مثبت عدد صحیح n کے لئے $\lim_{x\to\infty} x^{1/x^n} = 1$ ہو گا۔

کمپیوٹر کا استعمال

سوال ۷.۴۱۴: مستقل e کی قیمت کا تلاش

ا. قاعدہ لھوپیٹال استعمال کرتے ہوئے درج ذیل دکھائیں۔

$$\lim_{x\to\infty} \left(1+\frac{1}{x}\right)^{x} = e$$

ب. تفاعل $f(x) = (1+1/x)^x$ کی قیمت $x = 10, 10^2, 10^3, \cdots$ کے لئے کیلکولیٹر کی مدد سے تلاش کرتے ہوئے دیکھیں کہ آپ اصل قیمت $e = 2.718\,281\,828\,459\,045\cdots$ کے کتنے قریب پہنچتے ہیں۔ اگرچہ ہم توقع کرتے ہیں کہ x کی قیمت بڑھانے سے زیادہ بہتر جواب حاصل ہو گا، بعض کیلکولیٹروں میں پورو پور خلل کی وجہ سے کسی مخصوص حد سے x کی قیمت بڑھنے کے بعد نتائج کم درست ہوں گے۔

ج. تفاعل $f(x) = (1+1/x)^x$ کو ترسیم کریں۔ یہاں بھی x کی زیادہ بڑی قیمت پر پورو پور خلل کی وجہ سے نتیجہ کم درست ہو گا۔

سوال ۷.۴۱۵: آئیں درج ذیل دو حد میں فرق پر غور کریں۔

$$\lim_{x\to\infty}\left(1+\frac{1}{x^2}\right)^x \qquad \lim_{x\to\infty}\left(1+\frac{1}{x}\right)^x = e$$

ا. وقفہ $x \geq 0$ کے لئے درج ذیل تفاعل ترسیم کریں۔

$$f(x) = \left(1+\frac{1}{x^2}\right)^x, \quad g(x) = \left(1+\frac{1}{x}\right)^x$$

تفاعل f کا رویہ اور g کا رویہ کیسا ہے؟ $\lim_{x\to\infty} f(x)$ کی قیمت کا اندازہ لگائیں۔

ب. قاعدہ لھوپیٹال کی مدد سے $\lim_{x\to\infty} f(x)$ کی حاصل کردہ قیمت کی تصدیق کریں۔

سوال ۷.۴۱۶: (ا) متغیر x کے کسی موزوں وسیع وقفہ پر $f(x) = x - \sqrt{x^2+x}$ ترسیم کرتے ہوئے درج ذیل حد کی اندازاً قیمت تلاش کریں۔

$$\lim_{x\to\infty}(x-\sqrt{x^2+x})$$

(ب) قاعدہ لھوپیٹال سے اس حد کی تصدیق کریں۔ ایسا کرنے کے لئے پہلے $f(x)$ کو $\frac{x+\sqrt{x^2+x}}{x+\sqrt{x^2+x}}$ سے ضرب دے کر شمار کنندہ کی سادہ صورت حاصل کریں۔

سوال ۷.۴۱۷: درج ذیل کی اندازاً قیمت ترسیم کی مدد سے تلاش کریں۔ اس کی تصدیق قاعدہ لھوپیٹال کی مدد سے کریں۔

$$\lim_{x\to 2}\frac{x^2-4}{\sqrt{x^2+5}-3}$$

سوال ۷.۴۱۸: درج ذیل کی اندازاً قیمت ترسیم کی مدد سے تلاش کریں۔ اس کی تصدیق قاعدہ لھوپیٹال کی مدد سے کریں۔

$$\lim_{x\to 1}\frac{2x^2-(3x+1)\sqrt{x}+2}{x-1}$$

سوال ۷.۴۱۹: (ا) تفاعل $f(x) = \frac{(x-1)^2}{x\ln x - x - \cos\pi x}$ کو $x = 1$ کے نزدیک ترسیم کرتے ہوئے درج ذیل کی اندازاً قیمت تلاش کریں۔ اس کی تصدیق قاعدہ لھوپیٹال کی مدد سے کریں۔

$$\lim_{x\to 1}\frac{(x-1)^2}{x\ln x - x - \cos\pi x}$$

(ب) تفاعل $f(x)$ کو $0 < x \leq 11$ کے لئے ترسیم کریں۔

سوال ۷.۴۲۰: $(\sin x)^x$ کی $[0, \pi]$ تک استراری توسیع

ا. وقفہ $0 \leq x \leq \pi$ پر $f(x) = (\sin x)^x$ ترسیم کریں۔ تفاعل f کو $x = 0$ پر استراری بنانے کی خاطر آپ f کی کیا قیمت مقرر کریں گے؟

ب. جزو-ا میں اپنے جواب کی تصدیق کرنے کی خاطر قاعدہ لھوپیٹال سے $\lim_{x\to 0^+} f(x)$ تلاش کریں۔

ج. وقفہ $[0, \pi]$ پر f کی زیادہ سے زیادہ قیمت ترسیم سے معلوم کریں۔ یہ قیمت کس نقطہ پر پائی جاتی ہے؟

د. جزو-ج میں اپنے جواب کو مزید بہتر بنانے کی خاطر f' کو ترسیم کر کے دیکھیں کہ یہ محور x کو کہاں قطع کرتا ہے۔ اپنے کام کو آسان بنانے کی خاطر آپ f' میں قوم نما حصہ کو رد کرتے ہوئے صرف اس حصہ کو ترسیم کر سکتے ہیں جس کا صفر پایا جاتا ہو۔

ھ. کی مزید بہتر زیادہ سے زیادہ قیمت جاننے کی خاطر مساوات $f' = 0$ کو اعدادی طریقہ سے حل کریں۔

و. جزو-ج، د اور ہ میں حاصل نقطوں پر f کی زیادہ سے زیادہ قیمت حاصل کریں۔ کون سی قیمت بہترین جواب ہے؟

سوال ۷.۴۲۱: تفاعل $f(x) = (\sin x)^{\tan x}$

ا. وقفہ $-7 \leq x \leq 7$ پر $f(x) = (\sin x)^{\tan x}$ ترسیم کریں۔ ترسیم میں درز کے بارے میں آپ کیا کہیں گے؟ یہ درز کتنے چوڑے ہیں؟

ب. اب وقفہ $0 \leq x \leq \pi$ پر f ترسیم کریں۔ اگرچہ نقطہ $x = \frac{\pi}{2}$ پر f ناقابل معلوم ہے اس کے باوجود ترسیم میں اس نقطہ پر درز نہیں پایا جاتا ہے۔ ایسا کیوں ہے؟ نقطہ $x = \frac{\pi}{2}$ پر ترسیم f کی کیا قیمت دیتا ہے؟ (اشارہ۔ قاعدہ لھوپیٹال استعمال کرتے ہوئے $x \to (\pi/2)^-$ اور $x = (\pi/2)^+$ کے لئے f کی حدیں تلاش کریں۔)

ج. جزو-ب کی ترسیم سے f کی زیادہ سے زیادہ اور کم سے کم قیمت تلاش کریں اور وہ نقطے بھی تلاش کریں جہاں یہ قیمتیں پائی جاتی ہیں۔

سوال ۷.۴۲۲: x کی طاقتوں میں $\ln x$ کا مقام

درج ذیل کلیات کے سلسلہ میں درزوں

$$\int t^{k-1}\,\mathrm{d}t = \frac{t^k}{k} + C, \quad k \neq 0 \tag{۳}$$

کو قدرتی لوگارتھم

$$\ln x = \int_1^x \frac{1}{t}\,\mathrm{d}t$$

بھرتا ہے لیکن ان کلیات کو دیکھ کر یہ کہنا ممکن نہیں ہو گا کہ قدرتی لوگارتھم ان میں صحیح بیٹھتا ہے۔ ہم مساوات ۳ میں سے الٹ تفرق

$$\int_1^x t^{k-1}\,\mathrm{d}t = \frac{x^k - 1}{k}, \quad x > 0$$

کی ترسیم کا $\ln x$ کی ترسیم کے ساتھ موازنہ کرتے ہوئے اس عمل کو دیکھ سکتے ہیں۔

ا. وقفہ $0 \leq x \leq 50$ پر $k = \mp 1, \mp 0.5, \mp 0.1, \mp 0.05$ کے لئے $f(x) = \frac{x^k - 1}{k}$ ترسیم کریں۔ان کے ساتھ $\ln x$ بھی ترسیم کریں۔

ب. درج ذیل دکھائیں۔

$$\lim_{k \to 0} \frac{x^k - 1}{k} = \ln x$$

سوال ۷.۴۲۳: تصدیق برائے سوال ۶.۲۶۹، حصہ ۶.۷
درج ذیل کی بہتر سے بہتر قیمت ترسیم کی مدد سے حاصل کریں۔

$$\lim_{\alpha \to 0^+} \frac{\sin \alpha - \alpha \cos \alpha}{\alpha - \alpha \cos \alpha}$$

قاعدہ لھوپیٹال کی مدد سے اپنے جواب کی تصدیق کریں۔

۷.۷ اضافی شرح نمو

اس حصہ میں x کی بڑھتی قیمت پر x کے تفاعل کی شرح تبدیلی پر غور کیا جائے گا۔ہم ان تفاعل پر غور کریں گے جو $x \to \infty$ کرنے سے آخر کار مثبت ہو کر مثبت ہی رہتے ہیں۔

اضافی شرح نمو

آپ نے دیکھا ہو گا کہ متغیر x بڑھانے سے کثیر رکنی اور ناطق تفاعل (جنہیں ہم نے باب ۴ میں ترسیم کیا تھا) کے لحاظ سے قوت نما تفاعل، مثلاً 2^x اور e^x، زیادہ تیزی سے بڑھتے ہیں۔قوت نما تفاعل یقیناً x کے لحاظ سے زیادہ تیزی سے بڑھتے ہیں۔آپ شکل ۷.۳۱ میں دیکھ سکتے ہیں کہ x بڑھانے سے x^2 کے لحاظ سے 2^x زیادہ تیزی سے بڑھتا ہے۔درحقیقت $x \to \infty$ کرنے سے تفاعل 2^x اور e^x کے بڑھنے کی شرح، x کے کسی بھی طاقت (مثلاً $x^{1\,000\,000}$) کے بڑھنے کی شرح سے زیادہ ہو گی (سوال ۷.۴۴۲)۔

متغیر x بڑھاتے ہوئے تفاعل $y = e^x$ کے بڑھنے کی شرح کو سمجھنے کی خاطر تصور کریں کہ آپ اس تفاعل کو ترسیم کرتے ہیں جہاں محور کا پیمانہ $1\,\text{cm}$ ہے۔یوں $x = 1\,\text{cm}$ پر $y = e^1 \approx 3\,\text{cm}$ ہو گا۔یوں $x = 6\,\text{cm}$ پر $y = e^6 \approx 403\,\text{cm}$ یعنی تقریباً 4 میٹر ہو گا جو کمرے کی چھت کے برابر ہو گا۔اسی طرح $x = 10\,\text{cm}$ پر $y = e^{10} \approx 22\,026\,\text{cm}$ یعنی $220\,\text{m}$ ہو گا جو شہر کے عموماً عمارتوں سے زیادہ بلند ہو گا۔اگر $x = 24\,\text{cm}$ ہو تب y چاند تک آدھے فاصلہ سے زیادہ طے کر چکا ہو گا اور $x = 24\,\text{cm}$ پر y سورج کے قریب ترین

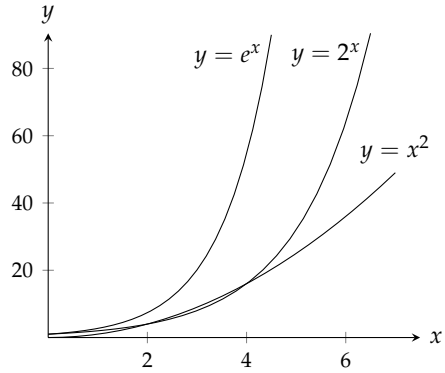

شکل ۷.۳۱: تفاعل $y = e^x$ ، $y = 2^x$ اور تفاعل $y = x^2$

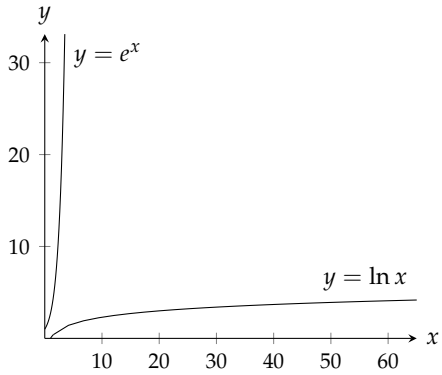

شکل ۷.۳۲: تفاعل $y = e^x$ اور $y = \ln x$ کا موازنہ

۱۱۱۶۵ ستارہ سے زیادہ دور ہو گا:

$$\begin{aligned} e^{43} &\approx 4.73 \times 10^{18}\ \text{cm} \\ &= 4.73 \times 10^{13}\ \text{km} \\ &\approx 5\text{نوری سال} \end{aligned}$$

۱۱۱۶۶ اس کے باوجود x محور پر آپ مبدا سے صرف 43 cm فاصلہ پر ہوں گے۔

۱۱۱۶۷ اس کے برعکس $x \to \infty$ کرنے سے لوگارتھمی تفاعل $y = \log_2 x$ اور $y = \ln x$ کے بڑھنے کی شرح x کے
۱۱۱۶۸ کسی بھی مثبت طاقت کے بڑھنے کی شرح سے کم ہو گی (سوال ۷.۴۴۴)۔ یوں محور کا پیمانہ 1 cm لیتے ہوئے مبدا سے صرف 43 cm بلندی تک پہنچنے کی
۱۱۱۶۹ خاطر آپ کو محور x پر 5 نوری سال دور جانا ہو گا (شکل ۷.۳۲)۔

۱۱۱۷۰ قوت نما، کثیر رکنی اور لوگارتھمی تفاعل کا ایک دوسرے کے ساتھ مذکورہ بالا موازنہ کو زیادہ درستگی سے بیان کرنے کی خاطر ہم ایک تعریف پیش کرتے
۱۱۱۷۱ ہیں۔ جب ہم کہتے ہیں کہ $x \to \infty$ کرنے سے کسی بھی تفاعل $g(x)$ کے بڑھنے کی شرح سے تفاعل $f(x)$ کے بڑھنے کی شرح زیادہ ہے تب اس
۱۱۱۷۲ سے مراد درج ذیل ہو گا۔

۱۱۱۷۳ تعریف: **$x \to \infty$ کرتے ہوئے بڑھنے کی شرح**
۱۱۱۷۴ فرض کریں کافی بڑے x کے لئے $f(x)$ اور $g(x)$ مثبت ہیں۔

۱۱۱۷۵ ا. اگر

$$\lim_{x\to\infty} \frac{f(x)}{g(x)} = \infty$$

یا، اس کا مماثل

$$\lim_{x\to\infty}\frac{g(x)}{f(x)}=0$$

ہو تب $x \to \infty$ کرتے ہوئے f کے بڑھنے کی شرح، g کے بڑھنے کی شرح سے زیادہ ہو گی۔ ہم یہ بھی کہہ سکتے ہیں کہ $x \to \infty$ کرتے ہوئے g کے بڑھنے کی شرح، f کے بڑھنے کی شرح سے کم ہو گی۔

ب. اگر

$$\lim_{x\to\infty}\frac{f(x)}{g(x)}=L\neq 0 \qquad L \text{ غیر صفر اور متناہی ہے}$$

ہو تب $x \to \infty$ کرتے ہوئے f کے بڑھنے کی شرح، g کے بڑھنے کی شرح کے برابر ہو گی۔

□

ان تعریف کے تحت تفاعل $y = 2x$ تفاعل $y = x$ سے زیادہ تیزی سے نہیں بڑھتا ہے۔ اس کی وجہ

$$\lim_{x\to\infty}\frac{2x}{x}=\lim_{x\to\infty}2=2$$

ہے جو غیر صفر اور متناہی حد ہے۔ زیادہ تیزی سے بڑھنے کے عمومی مطلب کو ہم اس لئے نظر انداز کرتے ہیں کہ جب ہم کہیں کہ x کی بڑی قیمتوں کے لئے f کے بڑھنے کی شرح g کے بڑھنے کی شرح سے زیادہ ہے تب اس سے مراد "x کی بڑی قیمتوں کے لئے f کے لحاظ سے g کی قیمت قابل نظر انداز ہے،" لینا چاہیے۔

مثال ۷.۴۵: $x \to \infty$ کرتے ہوئے x^2 کے لحاظ سے e^x درج ذیل کی وجہ سے زیادہ تیزی سے بڑھتا ہے۔

$$\underbrace{\lim_{x\to\infty}\frac{e^x}{x^2}}_{\frac{\infty}{\infty}}=\underbrace{\lim_{x\to\infty}\frac{e^x}{2x}}_{\frac{\infty}{\infty}}=\lim_{x\to\infty}\frac{e^x}{2}=\infty \qquad \text{قاعدہ لھوپیٹال دو مرتبہ استعمال کیا گیا}$$

□

مثال ۷.۴۶: (ا) $x \to \infty$ کرتے ہوئے 2^x کے لحاظ سے 3^x زیادہ تیزی سے بڑھتا ہے چونکہ:

$$\lim_{x\to\infty}\frac{3^x}{2^x}=\lim_{x\to\infty}\left(\frac{3}{2}\right)^x=\infty$$

(ب) $x \to \infty$ کرتے ہوئے مختلف اساس کے قوت نما تفاعل کبھی بھی ایک شرح سے نہیں بڑھتے۔ اگر $a > b > 0$ ہو تب a^x کے بڑھنے کی شرح b^x کے بڑھنے کی شرح سے زیادہ ہو گی۔

$$\lim_{x\to\infty}\frac{a^x}{b^x}=\lim_{x\to\infty}\left(\frac{a}{b}\right)^x=\infty$$

۱۱۱۹۱ □

۱۱۱۹۲ مثال ۷.۴۷: $x \to \infty$ کرتے ہوئے x^2 کے بڑھنے کی شرح $\ln x$ کے بڑھنے کی شرح سے زیادہ ہو گی:

$$\lim_{x\to\infty} \frac{2^x}{\ln x} = \lim_{x\to\infty} \frac{2x}{1/x} = \lim_{x\to\infty} 2x^2 = \infty$$

۱۱۱۹۳ □

۱۱۱۹۴ مثال ۷.۴۸: $x \to \infty$ کرنے سے $\ln x$ کے بڑھنے کی شرح x کے بڑھنے کی شرح سے کم ہو گی:

$$\lim x \to \infty \frac{\ln x}{x} = \lim_{x\to\infty} \frac{1/x}{1} = \lim_{x\to\infty} \frac{1}{x} = 0$$

۱۱۱۹۵ □

۱۱۱۹۶ مثال ۷.۴۹: قوت نما تفاعل کے برعکس $x \to \infty$ کرتے ہوئے مختلف اساس کے لوگارتھمی تفاعل ایک سی شرح سے بڑھتے ہیں:

$$\lim x \to \infty \frac{\log_a x}{\log_b x} = \lim_{x\to\infty} \frac{\ln x/\ln a}{\ln x/\ln b} = \frac{\ln b}{\ln a}$$

۱۱۱۹۷ یہ حد غیر صفر اور متناہی ہے۔ □

۱۱۱۹۸ اگر $x \to \infty$ کرتے ہوئے f کے بڑھنے کی شرح اور g کے بڑھنے کی شرح ایک دوسرے کے برابر ہو، اور $x \to \infty$ کرتے ہوئے gf کے
۱۱۱۹۹ بڑھنے کی شرح اور h کے بڑھنے کی شرح ایک دوسرے کے برابر ہو، تب $x \to \infty$ کرتے ہوئے f اور h کے بڑھنے کی شرح ایک دوسرے کے
۱۱۲۰۰ برابر ہو گی۔ اس کی وجہ

$$\lim_{x\to\infty} \frac{f}{g} = L_1 \quad \text{اور} \quad \lim_{x\to\infty} \frac{g}{h} = L_2$$

۱۱۲۰۱ یعنی

$$\lim_{x\to\infty} \frac{f}{h} = \lim_{x\to\infty} \frac{f}{g} \cdot \frac{g}{h} = L_1 L_2$$

۱۱۲۰۲ ہے۔ اگر L_1 اور L_2 غیر صفر اور متناہی ہوں تب $L_1 L_2$ بھی غیر صفر اور متناہی ہو گا۔

۱۱۲۰۳ مثال ۷.۵۰: دکھائیں کہ $x \to \infty$ کرتے ہوئے $\sqrt{x^2+5}$ اور $(2\sqrt{x}-1)^2$ کے بڑھنے کی شرح ایک دوسرے جتنی ہے۔

۱۱۲۰۴ حل: ہم دکھاتے ہیں کہ دونوں تفاعل کے بڑھنے کی شرح رہی ہے جو تفاعل x کی ہے:

$$\lim_{x\to\infty} \frac{\sqrt{x+5}}{x} = \lim_{x\to\infty} \sqrt{1+\frac{5}{x^2}} = 1$$

$$\lim_{x\to\infty} \frac{(2\sqrt{x}-1)^2}{x} = \lim_{x\to\infty} \left(\frac{2\sqrt{x}-1}{\sqrt{x}}\right)^2 = \lim_{x\to\infty} \left(2-\frac{1}{\sqrt{x}}\right)^2 = 4$$

یوں دونوں تفاعل کے بڑھنے کی شرح ایک دوسرے جتنے ہو گی۔ □

رتبہ اور ''o'' علامتیت

بڑے O اور چھوٹے o کی علامت کمپیوٹر سائنس میں عام استعمال ہوتی ہے۔ انہیں یہاں متعارف کیا جاتا ہے۔

تعریف: اگر $x \to \infty$ کرتے ہوئے $\lim_{x\to\infty} \frac{f(x)}{g(x)} = 0$ ہو تب ہم کہتے ہیں کہ f کا رتبہ g سے کم ہے جس کو $f = o(g)$ سے ظاہر کیا جاتا ہے۔ اس کو '' f ، g کا چھوٹا عددی o ہے'' پڑھا جاتا ہے۔

□

یوں $x \to \infty$ کرتے ہوئے $f = o(g)$ سے مراد $x \to \infty$ کرتے ہوئے f کے بڑھنے کی شرح g سے کم ہے۔

مثال ۷.۵۱:

$$\text{چونکہ} \quad \lim_{x\to\infty} \frac{\ln x}{x} = 0 \quad \text{لہٰذا} \quad x \to \infty \quad \text{پر} \quad \ln x = o(x)$$

$$\text{چونکہ} \quad \lim_{x\to\infty} \frac{x^2}{x^3+1} = 0 \quad \text{لہٰذا} \quad x \to \infty \quad \text{پر} \quad x^2 = o(x^3+1)$$

□

تعریف: فرض کریں کافی بڑے x پر $f(x)$ اور $g(x)$ مثبت ہیں۔ تب کافی بڑے x پر اگر کسی مثبت عدد صحیح M کے لئے

$$\frac{f(x)}{g(x)} \leq M$$

ہو تب $x \to \infty$ پر f کا رتبہ زیادہ سے زیادہ g کے رتبے جتنا ہو گا۔ اس کو ہم $f = O(g)$ سے ظاہر کرتے ہیں جس کو '' f ، g کا بڑا O ہے'' پڑھا جاتا ہے۔

□

مثال ۷.۵۲: چونکہ کافی بڑے x کے لئے $\frac{x+\sin x}{x} \leq 2$ ہے لہٰذا $x \to \infty$ پر $x + \sin x = O(x)$ ہو گا۔ □

مثال ۷.۵۳: $x \to \infty$ پر $\frac{e^x+x^2}{e^x} \to 1$ کی وجہ سے $x \to \infty$ پر $e^x + x^2 = O(e^x)$ ہو گا۔ اسی طرح $x \to \infty$ پر $\frac{x}{e^x} \to 0$ کی وجہ سے $x \to \infty$ پر $x = O(e^x)$ ہو گا۔ □

تعریف پر دوبارہ نظر دوڑاتے ہوئے آپ دیکھیں گے کہ کافی بڑے x پر مثبت تفاعل کے لئے $f = o(g)$ سے مراد $f = O(g)$ ہے۔ اس کے علاوہ اگر f اور g کے بڑھنے کی شرح ایک دوسرے جتنی ہو تب $f = O(g)$ اور $g = O(f)$ ہوں گے (سوال ۷.۴۳۴)۔

ترتیبی اور ثنائی تلاش

کمپیوٹر کسی لائحہ کار کے تحت قدم باقدم چل کر کوئی کام سرانجام دیتا ہے۔ اس لائحہ کار کو **کمپیوٹر الخوارزم**[۲۲] کہتے ہیں۔ اس لائحہ کار کی کارگزاری جاننے کی خاطر ماہرین عموماً اس کام کو سرانجام کرنے کے لئے درکار قدموں کی گنتی کرتے ہیں۔ ایک ہی کام سرانجام دینے کے دو مختلف لائحہ کار کی کارگزاری میں بہت زیادہ فرق ہو سکتا ہے جنہیں بڑے O علامتی روپ میں پیش کیا جاتا ہے۔ آئیں ایک مثال دیکھتے ہیں۔

ایک لغت میں کسی ایک حرف سے شروع ہونے والے الفاظ کی تعداد 26 000 ہے۔ آپ اس حرف سے شروع ہونے والے ایک لفظ کو دو طریقوں سے تلاش کر سکتے ہیں۔ پہلی ترکیب میں آپ پہلے لفظ سے شروع کرتے ہوئے ایک ایک لفظ پڑھ کر درکار لفظ تک پہنچتے ہیں۔ اس ترکیب کو **ترتیبی تلاش**[۲۳] کہتے ہیں جو لغت میں ترتیب سے الفاظ لکھے گئے ہونے سے استفادہ نہیں کرتا ہے۔ اس ترتیب میں آپ ہر صورت لفظ تلاش کر پائیں گے (یا جان جائیں گے کہ یہ لفظ لغت میں موجود نہیں ہے) لیکن عین ممکن ہے کہ آپ کو 26 000 قدم چلنا پڑے۔

اس سے بہتر ترکیب میں آپ لغت کے عین وسط (ایک دو الفاظ آگے پیچھے ہو سکتے ہیں) میں ایک لفظ کو دیکھتے ہیں۔ چونکہ لغت میں الفاظ ترتیب سے ہیں لہٰذا آپ معلوم کر پائیں گے کہ آیا درکار لفظ پہلی نصف یا دوسری نصف حصہ میں ہے۔ لغت کی اس نصف حصہ کو رد کریں جس میں لفظ موجود نہیں ہے۔ یوں پہلی قدم میں 13 000 الفاظ سے چھٹکارا حاصل ہوتا ہے۔ اب منتخب حصہ کے نصف میں جا کر دیکھیں کہ درکار لفظ کس جانب پایا جاتا ہے۔ یوں دوسرے قدم میں 6500 الفاظ سے چھٹکارا حاصل ہوتا ہے۔ اسی طرح ہر قدم پر آدھے حصے کو رد کرتے ہوئے چلتے جائیں جب تک آپ درکار لفظ تلاش نہیں کر پاتے یا الفاظ ختم نہیں ہو جاتے۔ چونکہ

$$\frac{26000}{2^{15}} < 1$$

ہوتا ہے لہٰذا آپ کو زیادہ سے زیادہ 15 قدم چل کر درکار لفظ مل جائے گا یا آپ جان جائیں گے کہ یہ لفظ لغت میں موجود نہیں ہے۔ اس ترتیب کو **ثنائی تلاش**[۲۴] کہتے ہیں۔

ایک سلسلہ جس کی لمبائی n ہو میں کسی جزو کی تلاش کے لئے ترتیبی تلاش کو n قدم درکار ہو سکتے ہیں۔ اس کے برعکس ثنائی تلاش استعمال کرتے ہوئے اگر $2^{m-1} < n < 2^m$ ہو تب $m - 1 < \log_2 n \leq m$ ہو گا اور ایک لفظ تک پہنچنے کی خاطر زیادہ سے زیادہ $m = \lceil \log_2 n \rceil$ ($\log_2 n$ کا عدد صحیح چھت تفاعل) بار دو حصوں میں تقسیم کی ضرورت پیش آئے گی۔ یوں ثنائی تلاش میں $\log_2 n$ کے لگ بھگ قدم درکار ہوں گے۔

بڑے O روپ میں اس تمام کو نہایت خوش اسلوبی سے ظاہر کیا جا سکتا ہے۔ ترتیبی سلسلہ میں ترتیبی تلاش کو $O(n)$ کے لگ بھگ قدم درکار ہوں گے جبکہ ثنائی تلاش کو $O(\log_2 n)$ کے لگ بھگ قدم درکار ہوں گے۔ ہماری مثال میں ان دو میں بہت زیادہ فرق پایا جاتا ہے (26 000 بالمقابل 15) اور چونکہ $n \to \infty$ کرتے ہوئے $\log_2 n$ کے لحاظ سے n زیادہ تیزی سے بڑھتا ہے لہٰذا n بڑھانے سے یہ فرق زیادہ بڑھے گا۔

سوالات

قوتے نما e^x کے ساتھ موازنہ

---

[۲۲] computeralgorithm
[۲۳] sequentialsearch
[۲۴] binarysearch

سوال ۷.۴۲۴: $x \to \infty$ کرتے ہوئے درج ذیل میں سے کونسا تفاعل e^x سے زیادہ تیزی سے بڑھتا ہے؟ کونسا e^x کی شرح سے بڑھتا ہے؟ کونسا e^x سے کم تیزی سے بڑھتا ہے؟

ا. $x+3$ ب. $x^3+\sin^2 x$ ج. $\sqrt{x}$ د. 4^x ھ. $(\frac{3}{2})^x$ و. $e^{x/2}$ ز. $\frac{e^x}{2}$ ح. $\log_{10} x$

سوال ۷.۴۲۵: $x \to \infty$ کرتے ہوئے درج ذیل میں سے کونسا تفاعل e^x سے زیادہ تیزی سے بڑھتا ہے؟ کونسا e^x کی شرح سے بڑھتا ہے؟ کونسا e^x سے کم تیزی سے بڑھتا ہے؟

ا. $10x^4+30x+1$ ب. $x\ln x - x$ ج. $\sqrt{1+x^4}$ د. $(\frac{5}{2})^x$ ھ. e^{-x} و. xe^x ز. $e^{\cos x}$ ح. e^{x-1}

طاقتے x^2 کے ساتھ موازنہ

سوال ۷.۴۲۶: $x \to \infty$ کرتے ہوئے درج ذیل میں سے کونسا تفاعل x^2 سے زیادہ تیزی سے بڑھتا ہے؟ کونسا x^2 کی شرح سے بڑھتا ہے؟ کونسا x^2 سے کم تیزی سے بڑھتا ہے؟

ا. x^2+4x ب. x^5-x^2 ج. $\sqrt{x^4+x^3}$ د. $(x+3)^2$ ھ. $x\ln x$ و. 2^x ز. x^3e^{-x} ح. $8x^2$

سوال ۷.۴۲۷: $x \to \infty$ کرتے ہوئے درج ذیل میں سے کونسا تفاعل x^2 سے زیادہ تیزی سے بڑھتا ہے؟ کونسا x^2 کی شرح سے بڑھتا ہے؟ کونسا x^2 سے کم تیزی سے بڑھتا ہے؟

ا. $x^2+\sqrt{x}$ ب. $10x^2$ ج. x^2e^{-x} د. $\log_{10}(x^2)$ ھ. x^3-x^2 و. $(\frac{1}{10})^x$ ز. $(1.1)^x$ ح. x^2+100x

لوگارتھم $\ln x$ کے ساتھ موازنہ

سوال ۷.۴۲۸: $x \to \infty$ کرتے ہوئے درج ذیل میں سے کونسا تفاعل $\ln x$ سے زیادہ تیزی سے بڑھتا ہے؟ کونسا $\ln x$ کی شرح سے بڑھتا ہے؟ کونسا $\ln x$ سے کم تیزی سے بڑھتا ہے؟

ا. $\log_3 x$ ب. $\ln 2x$ ج. $\ln\sqrt{x}$ د. $\sqrt{x}$ ھ. x و. $5\ln x$ ز. $\frac{1}{x}$ ح. e^x

سوال ۷.۴۲۹: $x \to \infty$ کرتے ہوئے درج ذیل میں سے کونسا تفاعل $\ln x$ سے زیادہ تیزی سے بڑھتا ہے؟ کونسا $\ln x$ کی شرح سے بڑھتا ہے؟ کونسا $\ln x$ سے کم تیزی سے بڑھتا ہے؟

۱۳۰۱ ا. $\log_2(x^2)$ ۱۳۰۳ ج. $\frac{1}{\sqrt{x}}$ ۱۳۰۵ ھ. $x - 2\ln x$ ۱۳۰۷ ز. $\ln(\ln x)$

۱۳۰۲ ب. $\log_{10} 10x$ ۱۳۰۴ د. $\frac{1}{x^2}$ ۱۳۰۶ و. e^{-x} ۱۳۰۸ ح. $\ln(2x+5)$

۱۳۰۹ شرح نمو کے لحاظ سے منظم کرنا

۱۳۱۰ سوال ۷.۴۳۰: $x \to \infty$ کرتے ہوئے شرح نمو کے لحاظ سے منظم کریں۔ کم تر شرح والے تفاعل کو پہلے لکھیں۔

۱۳۱۱ ا. e^x ۱۳۱۲ ب. x^x ۱۳۱۳ ج. $(\ln x)^x$ ۱۳۱۴ د. $e^{x/2}$

۱۳۱۵ سوال ۷.۴۳۱: $x \to \infty$ کرتے ہوئے شرح نمو کے لحاظ سے ترتیب دیں۔ کم تر شرح والے تفاعل کو پہلے لکھیں۔

۱۳۱۶ ا. 2^x ۱۳۱۷ ب. x^2 ۱۳۱۸ ج. $(\ln 2)^x$ ۱۳۱۹ د. e^x

۱۳۲۰ بڑا O اور چھوٹا o ، رتبہ

۱۳۲۱ سوال ۷.۴۳۲: $x \to \infty$ کرتے ہوئے کونسا درست اور کونسا غلط ہے؟

۱۳۲۲ ا. $x = o(x)$ ۱۳۲۵ د. $x = O(2x)$ ۱۳۲۸ ز. $\ln x = o(\ln 2x)$

۱۳۲۳ ب. $x = o(x+5)$ ۱۳۲۶ ھ. $e^x = o(e^{2x})$

۱۳۲۴ ج. $x = O(x+5)$ ۱۳۲۷ و. $x + \ln x = O(x)$ ۱۳۲۹ ح. $\sqrt{x^2+5} = O(x)$

۱۳۳۰ سوال ۷.۴۳۳: $x \to \infty$ کرتے ہوئے کونسا درست اور کونسا غلط ہے؟

۱۳۳۱ ا. $\frac{1}{x+3} = O(\frac{1}{x})$ ۱۳۳۳ ج. $\frac{1}{x} - \frac{1}{x^2} = o(\frac{1}{x})$ ۱۳۳۶ و. $x \ln x = o(x^2)$

۱۳۳۲ ب. $\frac{1}{x} + \frac{1}{x^2} = O(\frac{1}{x})$ ۱۳۳۵ ھ. $e^x + x = O(e^x)$ ۱۳۳۷ ز. $\ln(\ln x) = O(\ln x)$

۱۳۳۴ د. $2 + \cos x = O(2)$ ۱۳۳۸ ح. $\ln x = o(\ln(x^2+1))$

۱۳۳۹ سوال ۷.۴۳۴: دکھائیں کہ اگر $x \to \infty$ کرنے سے $f(x)$ اور $g(x)$ کے بڑھنے کی شرح برابر ہو تب $f = O(g)$ اور $g = O(f)$ ہوں گے۔
۱۳۴۰

۱۳۴۱ سوال ۷.۴۳۵: $x \to \infty$ کرتے ہوئے کب کثیر رکنی $f(x)$ کا رتبہ کثیر رکنی $g(x)$ کے رتبہ سے کم ہو گا؟ اپنے جواب کی وجہ پیش کریں۔

۱۳۴۲ سوال ۷.۴۳۶: $x \to \infty$ کرتے ہوئے کب کثیر رکنی $f(x)$ کا رتبہ زیادہ سے زیادہ کثیر رکنی $g(x)$ کے رتبہ کے برابر ہو گا؟ اپنے جواب کی
۱۳۴۳ وجہ پیش کریں۔
۱۳۴۴

۱۳۴۵ سوال ۷.۴۳۷: قاعدہ سمسن اور قاعدہ ذوزنقہ
۱۳۴۶ موجودہ حصہ میں پیش کی گئی تعریف کو زیادہ عمومی بنانے کی خاطر ہم اس میں $x \to \infty$ کی پابندی ختم کر کے اس کے بجائے $x \to a$ پر حد لیتے ہیں

جہاں a حقیقی عدد ہے۔ دکھائیں کہ قاعدہ سمسن سے حاصل قطعی تکمل کی تخمین میں $h \to 0$ کرتے ہوئے خلل $O(h^4)$ ہوگا جبکہ قاعدہ ذوزنقہ سے حاصل تخمین میں خلل $O(h^2)$ ہوگا۔ یوں ان دو تراکیب کے نتائج کی درستگی کو اس طرح بھی بیان کیا جا سکتا ہے۔

دیگر موازنے

سوال ۷.۴۳۸: ناطق تفاعل کی حدوں کے بارے میں حصہ ۴.۵ میں حاصل نتیجہ ہمیں $x \to \infty$ کی صورت میں کثیر رکنی کی اضافی شرح نمو کے بارے میں کیا بتاتا ہے؟

سوال ۷.۴۳۹: کمپیوٹر ترسیم

(ا) درج ذیل پر تحقیق کریں۔ اس کے بعد قاعدہ لھوپیٹال سے اس تحقیق سے حاصل معلومات کی وجہ بیان کریں۔

$$\lim_{x\to\infty} \frac{\ln(x+1)}{\ln x}, \quad \lim_{x\to\infty} \frac{\ln(x+999)}{\ln x}$$

(ب) دکھائیں کہ درج ذیل کی قیمت، مستقل a کی قیمت پر منحصر نہیں ہے۔ اس سے تفاعل $f(x) = \ln(x+a)$ اور $g(x) = \ln x$ کے اضافی شرح نمو کے بارے میں کیا کہا جا سکتا ہے؟

$$\lim_{x\to\infty} \frac{\ln(x+a)}{\ln x}$$

سوال ۷.۴۴۰: دکھائیں کہ $x \to \infty$ کرتے ہوئے $\sqrt{10x+1}$ اور $\sqrt{x+1}$ کی شرح نمو ایک دوسرے کے برابر ہیں۔ یہ دکھانے کی خاطر دکھائیں کہ دونوں تفاعل کی شرح نمو تفاعل $\sqrt{x}$ کے شرح نمو کے برابر ہے۔

سوال ۷.۴۴۱: دکھائیں کہ $x \to \infty$ کرتے ہوئے $\sqrt{x^4+x}$ اور $\sqrt{x^4-x^3}$ کی شرح نمو ایک دوسرے کے برابر ہیں۔ یہ دکھانے کی خاطر دکھائیں کہ دونوں تفاعل کی شرح نمو تفاعل x^2 کے شرح نمو کے برابر ہے۔

سوال ۷.۴۴۲: دکھائیں کہ $x \to \infty$ کرتے ہوئے e^x کی شرح نمو کسی بھی x^n کے شرح نمو سے زیادہ ہوگی، جہاں n کوئی بھی مثبت عدد صحیح ہو سکتا ہے، مثلاً $x^{1\,000\,000}$۔ (اشارہ۔ x^n کا n واں تفرق کیا ہے؟)

سوال ۷.۴۴۳: تفاعل e^x ہر کثیر رکنی سے زیادہ تیزی سے بڑھتا ہے

دکھائیں کہ $x \to \infty$ کرتے ہوئے e^x کسی بھی کثیر رکنی $a_n x^n + a_{n-1}x^{n-1} + \cdots + a_1 x + a_0$ سے زیادہ تیزی سے بڑھتا ہے۔

سوال ۷.۴۴۴:

ا. دکھائیں کہ کسی بھی مثبت عدد صحیح n کی صورت میں $x \to \infty$ کرتے ہوئے $\ln x$ کی شرح نمو تفاعل $x^{1/n}$ (مثلاً $x^{1/1\,000\,000}$) کی شرح نمو سے کم ہوگی۔

ب. اگرچہ $x^{1/1\,000\,000}$ کی قیمت آخر کار $\ln x$ کی قیمت سے زیادہ ہوگی، وہاں تک پہنچنے کے لئے آپ کو محور x پر بہت دور جانا ہوگا۔ ایسا $x > 1$ تلاش کریں جس پر $x^{1/1\,000\,000} > \ln x$ ہو۔ دھیان رہے کہ $x > 1$ کی صورت میں مساوات $\ln x = x^{1/1\,000\,000}$ کو $\ln(\ln x) = \frac{\ln x}{1\,000\,000}$ بھی لکھا جا سکتا ہے۔

ج. تفاعل $x^{1/10}$ کو بھی $\ln x$ سے بڑھنے کے لئے بہت وقت درکار ہوگا۔ کیلکولیٹر استعمال کرتے ہوئے x کی وہ قیمت تلاش کریں جس پر $x^{1/10}$ کی ترسیم $\ln x$ کی ترسیم کو کٹ کرتی ہو یا جہاں $\ln x = 10\ln(\ln x)$ ہو۔

د. وہ نقطہ جس پر $\ln x = 10\ln(\ln x)$ ہو کے قریب اس مساوات کو کمپیوٹر پر ترسیم کر کے x تلاش کریں۔

سوال ۷.۴۴۵: تفاعل $\ln x$ کی شرح نمو ہر کثیر رکنی سے کم ہے
دکھائیں کہ $x \to \infty$ کرتے ہوئے $\ln x$ کی شرح نمو کسی بھی غیر مستقل کثیر رکنی سے کم ہو گی۔

الخوارزم اور تلاش

سوال ۷.۴۴۶: (ا) آپ کمپیوٹر کی مدد سے ایک کام سرانجام دینا چاہتے ہیں۔ آپ کے پاس تین الخوارزم موجود ہیں جن کے لئے کمپیوٹر کو درکار قدموں کی تعداد درج ذیل تفاعل دیتے ہیں۔ n کی بڑی قیمت کی صورت میں ان میں سے کونسا الخوارزم بہترین ہے؟ اپنے جواب کی وجہ پیش کریں۔

$$n\log_2 n, \quad n^{3/2}, \quad n(\log_2 n)^2$$

(ب) جزو-الف میں دیے گئے تفاعل کو ایک ساتھ ترسیم کرتے ہوئے دیکھیں کونسا زیادہ تیزی سے بڑھتا ہے۔

سوال ۷.۴۴۷: درج ذیل تفاعل کے لئے سوال ۷.۴۴۶ کو دہرائیں۔

$$n, \quad \sqrt{n}\log_2 n, \quad (\log_2 n)^n$$

سوال ۷.۴۴۸: ایک مرتب سلسلہ جس میں دس لاکھ اجزاء پائے جاتے ہیں میں سے آپ کو ایک جزو تلاش کرنا ہے۔ ترتیبی تلاش کے لئے کتنے قدم درکار ہوں گے؟ ثنائی تلاش کے لئے کتنے قدم درکار ہوں گے؟

سوال ۷.۴۴۹: ایک مرتب سلسلہ میں 450 000 اجزاء پائے جاتے ہیں جن میں سے آپ کو ایک جزو کی تلاش ہے۔ ترتیبی تلاش اور ثنائی تلاش کرتے ہوئے کتنے قدم درکار ہوں گے؟

۷.۸ الٹ تکونیاتی تفاعل

الٹ تکونی تفاعل کی ضرورت اس وقت پیش آتی ہے جب ہم مثلث کے ضلع کو ناپ کر زاویہ تلاش کرنا چاہتے ہیں۔ یہ تفاعل اہم الٹ تفرق بھی مہیا کرتے ہیں اور تفرقی مساوات کے حل میں عموماً پائے جاتے ہیں۔ اس حصہ میں ان تفاعل کی تعریف پیش کی جائے گی، ان کو ترسیم کرنا سکھایا جائے گا اور ان کی قیمت حاصل کرنا سکھایا جائے گا۔

جدول ۷.۶: تکونیاتی تفاعل کو ایک ایک بنانے کی خاطر دائرہ کار کو پابند کیا گیا ہے۔

تفاعل	دائرہ کار	سعت
$\sin x$	$[-\frac{\pi}{2}, \frac{\pi}{2}]$	$[-1, 1]$
$\cos x$	$[0, \pi]$	$[-1, 1]$
$\tan x$	$(-\frac{\pi}{2}, \frac{\pi}{2})$	$(-\infty, \infty)$
$\cot x$	$(0, \pi)$	$(-\infty, \infty)$
$\sec x$	$[0, \frac{\pi}{2}) \cup (\frac{\pi}{2}, \pi]$	$(-\infty, -1] \cup [1, \infty)$
$\csc x$	$[-\frac{\pi}{2}, 0) \cup (0, \frac{\pi}{2}]$	$(-\infty, -1] \cup [1, \infty)$

۱۱۳۹۵ الٹ تکونیاتی کی تعریف

۱۱۳۹۶ چھ بنیادی تکونیاتی تفاعل کی قیمتیں دہراتی ہیں لہٰذا یہ ایک ایک تفاعل نہیں ہیں البتہ ان کے دائرہ کار کو ایسے وقفوں پر پابند کیا جا سکتا ہے جہاں یہ ایک ایک ہوں
۱۱۳۹۷ (جدول ۷.۶)۔

۱۱۳۹۸ چونکہ پابند دائرہ کار والے تکونیاتی تفاعل ایک ایک ہیں لہٰذا ان کے الٹ پائے جاتے ہیں جنہیں ظاہر کرنے کا طریقہ درج ذیل ہے۔

$$
\begin{aligned}
y &= \sin^{-1} x \\
y &= \cos^{-1} x \\
y &= \tan^{-1} x \\
y &= \cot^{-1} x \\
y &= \sec^{-1} x \\
y &= \csc^{-1} x
\end{aligned}
$$

۱۱۳۹۹ ہم کہیں گے "x کا الٹ سائن y کے برابر ہے"، وغیرہ۔ یاد رہے کہ ان الٹ تفاعل میں -1 سے مراد الٹ تفاعل ہے اور لہٰذا اس کو ہرگز بالعکس
۱۱۴۰۰ متناسب تصور نہیں کیا جائے۔ مثال کے طور پر $\sin x$ کا بالعکس متناسب $(\sin x)^{-1} = \frac{1}{\sin x} = \csc x$ ہوگا۔

الٹ تکونیاتی تفاعل کے دائرہ کاریوں منتخب کئے جاتے ہیں کہ درج ذیل مطمئن ہوں۔

$$\sec^{-1} x = \cos^{-1}\left(\tfrac{1}{x}\right) \tag{۱}$$

$$\csc^{-1} x = \sin^{-1}\left(\tfrac{1}{x}\right) \tag{۲}$$

$$\cot^{-1} x = \tfrac{\pi}{2} - \tan^{-1} x \tag{۳}$$

ان تعلقات کو استعمال کر کے $\cos^{-1} x$ ، $\sin^{-1} x$ اور $\tan^{-1} x$ کی قیمتیں جانتے ہوئے ہم بالترتیب $\sec^{-1} x$ ، $\csc^{-1} x$ اور $\cot^{-1} x$ کی قیمتیں معلوم کر سکتے ہیں۔

الٹ سائن اور الٹ کوسائن

متغیر x کے الٹ سائن یعنی $\sin^{-1} x$ سے مراد وہ زاویہ ہے جس کا سائن x کے برابر ہو۔ اسی طرح $\cos^{-1} x$ سے مراد وہ زاویہ ہے جس کے کوسائن کی قیمت x ہو۔

تعریف: $y = \sin^{-1} x$ سے مراد وقفہ $[-\pi/2, \pi/2]$ میں وہ عدد y ہے جس کے لئے $\sin y = x$ ہو۔ اسی طرح $y = \cos^{-1} x$ سے مراد وقفہ $[0, \pi]$ میں وہ عدد y ہے جس کے لئے $\cos y = x$ ہو۔

□

تفاعل $y = \sin^{-1} x$ (شکل ۷.۳۳) کی ترسیم مبدا کے لحاظ سے تشاکلی ہے (اور عین $x = \sin y$ کی ترسیم پر پائی جاتی ہے)۔ یوں الٹ سائن طاق تفاعل ہے:

$$\sin^{-1}(-x) = -\sin^{-1} x \tag{۴}$$

تفاعل $y = \cos^{-1} x$ (شکل ۷.۳۴) کی ترسیم میں ایسی کوئی تشاکلی نہیں پائی جاتی ہے۔

مثال ۷.۵۴: تفاعل $\sin^{-1} x$ کی مخصوص قیمتیں

الٹ سائن کی مخصوص قیمتوں کو قائمہ مثلث سے شکل ۷.۵۴ میں حاصل کرنا دکھایا گیا ہے۔ اس طرح درج ذیل دیگر قیمتیں بھی حاصل کی جا سکتی ہیں۔ یاد رہے کہ $\sin^{-1} x$ کا سعت $\left[-\frac{\pi}{2}, \frac{\pi}{2}\right]$ ہے لہٰذا زاویے ربع اول اور ربع چہارم میں پائے جائیں گے۔

x	$\frac{\sqrt{3}}{2}$	$\frac{\sqrt{2}}{2}$	$\frac{1}{2}$	$-\frac{1}{2}$	$-\frac{\sqrt{2}}{2}$	$-\frac{\sqrt{3}}{2}$
$\sin^{-1} x$	$\frac{\pi}{3}$	$\frac{\pi}{4}$	$\frac{\pi}{6}$	$-\frac{\pi}{6}$	$-\frac{\pi}{4}$	$-\frac{\pi}{3}$

□

مثال ۷.۵۵: تفاعل $\cos^{-1} x$ کی مخصوص قیمتیں

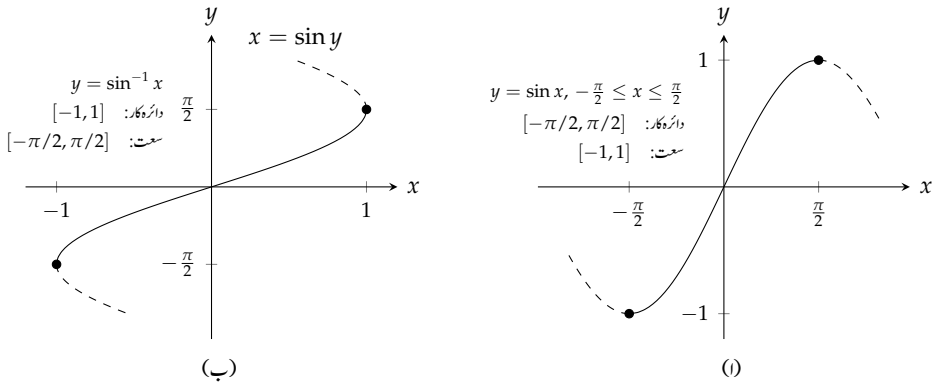

(ا) (ب)

شکل ۷.۳۳: ترسیمات برائے (ا) $y = \sin x,\ -\pi/2 \le x \le \pi/2$ اور (ب) الٹ سائن تفاعل $y = \sin^{-1} x$؛ لکیر $y = x$ میں عکس $\sin^{-1} x$ درحقیقت قوس $x = \sin y$ کا کچھ حصہ ہے۔

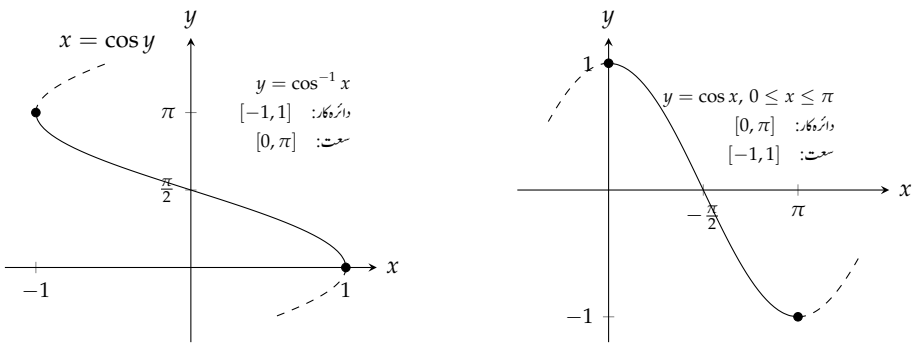

(ا) (ب)

شکل ۷.۳۴: ترسیمات برائے (ا) $y = \cos x,\ 0 \le x \le \pi$ اور (ب) الٹ کوسائن تفاعل $y = \cos^{-1} x$؛ لکیر $y = x$ میں عکس $\cos^{-1} x$ درحقیقت قوس $x = \cos y$ کا کچھ حصہ ہے۔

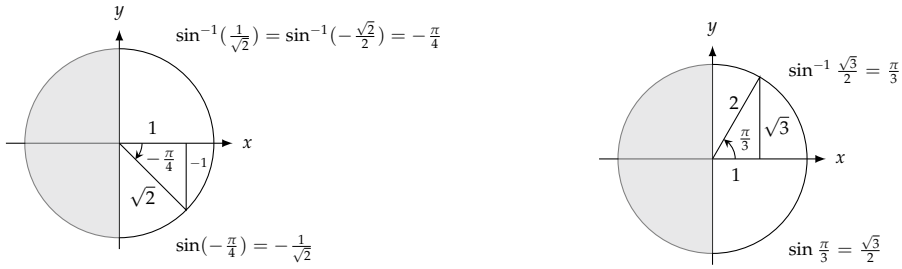

شکل ۷.۳۵: سائن اور الٹ سائن کی مخصوص قیمتیں (مثال ۷.۵۴)۔

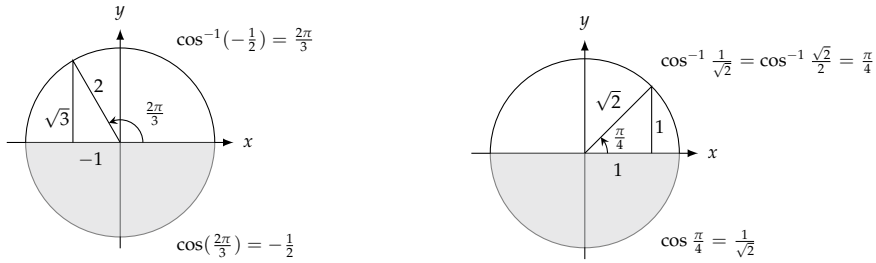

شکل ۷.۳۶: کوسائن اور الٹ سائن کی مخصوص قیمتیں (مثال ۷.۵۵)۔

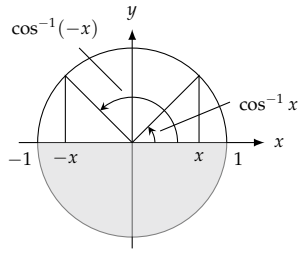

شکل ۷.۳۷: $\cos^{-1} x + \cos^{-1}(-x) = \pi$

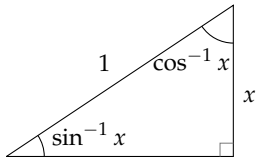

شکل ۷.۳۸: $\sin^{-1} x + \cos^{-1} x = \frac{\pi}{2}$

۱۱۴۴۰ الٹ کوسائن کی مخصوص قیمتوں کو قائمہ مثلث سے شکل ۷.۵۵ میں حاصل کرنا دکھایا گیا ہے۔ اس طرح درج ذیل دیگر قیمتیں بھی حاصل کی جا سکتی ہیں۔ یاد
۱۱۴۴۱ رہے کہ $\cos^{-1} x$ کا سعت $[0, \pi]$ ہے لہٰذا زاویے ربع اول اور ربع دوم میں پائے جائیں گے۔

x	$\frac{\sqrt{3}}{2}$	$\frac{\sqrt{2}}{2}$	$\frac{1}{2}$	$-\frac{1}{2}$	$-\frac{\sqrt{2}}{2}$	$-\frac{\sqrt{3}}{2}$
$\cos^{-1} x$	$\frac{\pi}{6}$	$\frac{\pi}{4}$	$\frac{\pi}{3}$	$\frac{2\pi}{3}$	$\frac{3\pi}{4}$	$\frac{5\pi}{6}$

۱۱۴۴۲ □

۱۱۴۴۳ **تماثل جن میں الٹ سائن اور الٹ کوسائن پائے جاتے ہوں**

۱۱۴۴۴ ہم شکل ۷.۳۷ میں دیکھتے ہیں کہ x کا الٹ کوسائن تماثل

$$\cos^{-1} x + \cos^{-1}(-x) = \pi \tag{۵}$$

۱۱۴۴۵ کو مطمئن کرتا ہے جس کو درج ذیل بھی لکھا جا سکتا ہے۔

$$\cos^{-1}(-x) = \pi - \cos^{-1} x \tag{۶}$$

۱۱۴۴۶ اسی طرح شکل ۷.۳۸ میں مثلث کو دیکھ کر درج ذیل لکھا جا سکتا ہے۔

$$\sin^{-1} x + \cos^{-1} x = \frac{\pi}{2} \tag{۷}$$

۱۱۴۴۷ اگرچہ شکل ۷.۳۸ میں دی گئی مثلث سے یہ ثابت نہیں کیا جا سکتا ہے لیکن مساوات ۷ وقفہ $[-1, 1]$ میں دیگر x کے لئے بھی درست ہے۔ یہ حقیقت
۱۱۴۴۸ مساوات ۴ اور مساوات ۶ کا نتیجہ ہے (سوال ۷.۵۰۴)۔

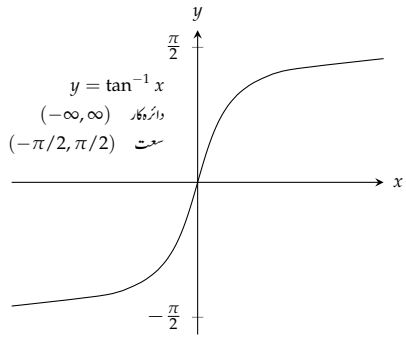

شکل ۷.۳۹: ترسیم $y = \tan^{-1} x$

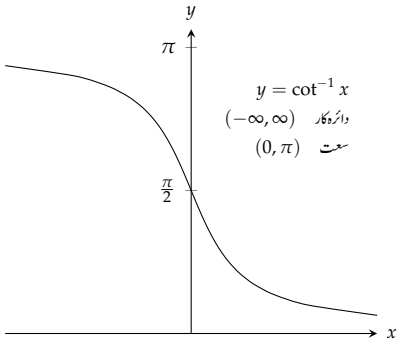

شکل ۷.۴۰: ترسیم $y = \cot^{-1} x$

۱۱۴۲۹ $\tan x$ ، $\cot x$ ، $\sec x$ اور $\csc x$ کے الٹ

۱۱۴۳۰ متغیر x کا الٹ ٹینجنٹ وہ زاویہ ہوگا جس کا ٹینجنٹ x ہو۔ اسی طرح x کا الٹ کوٹینجنٹ وہ زاویہ ہوگا جس کا کوٹینجنٹ x ہو۔

۱۱۴۳۱ تعریف: وقفہ $(-\pi/2, \pi/2)$ میں وہ عدد جس کا $\tan y = x$ ہو عدد $y = \tan^{-1} x$ ہوگا۔ اسی طرح وقفہ $(0, \pi)$ میں وہ
۱۱۴۳۲ عدد جس کا $\cot y = x$ ہو عدد $y = \cot^{-1} x$ ہوگا۔

۱۱۴۳۳ □

۱۱۴۳۴ ہم کھلا وقفہ لیتے ہیں تاکہ ان نقطوں سے نجات حاصل کر سکیں جن پر ٹینجنٹ اور کوٹینجنٹ غیر معین ہیں۔

۱۱۴۳۵ تفاعل $y = \tan^{-1} x$ کی ترسیم تفاعل $x = \tan y$ کی ترسیم، جو مبدا کے لحاظ سے تشاکلی ہے، کا کچھ حصہ ہے لہٰذا یہ بھی مبدا کے لحاظ سے تشاکلی
۱۱۴۳۶ ہوگا (شکل ۷.۳۹)۔ الجبرائی طور پر اس سے مراد

$$\tan^{-1}(-x) = -\tan^{-1} x \tag{۸}$$

۱۱۴۳۷ ہے، یعنی، الٹ ٹینجنٹ طاق تفاعل ہے۔ تفاعل $y = \cot^{-1} x$ کی ترسیم میں ایسی کوئی تشاکلی نہیں پائی جاتی ہے (شکل ۷.۴۰)۔

۱۱۴۳۸ تفاعل $\sec x$ اور $\csc x$ کے پابند شدہ روپ کے الٹ کی ترسیمات کو بالترتیب شکل ۷.۴۱ اور شکل ۷.۴۲ میں دکھایا گیا ہے۔

۱۱۴۳۹ انتباہ: متغیر x کی منفی قیمتوں کے لئے $\sec^{-1} x$ کی تعریف پر اتفاق نہیں پایا جاتا ہے۔ ہم ربع دوم میں $\frac{\pi}{2}$ اور π کے بیچ زاویہ لیں گے۔ اس
۱۱۴۴۰ انتخاب کی وجہ سے $\sec^{-1} x = \cos^{-1}(1/x)$ ہوگا اور $\sec^{-1} x$ کے دائرہ کار کے ہر حصہ پر $\sec^{-1} x$ بڑھتا ہوا تفاعل ہوگا۔

۱۱۴۴۱ مثال ۷.۵۶: الٹ کوٹینجنٹ $\tan^{-1} x$ کی مخصوص قیمتیں

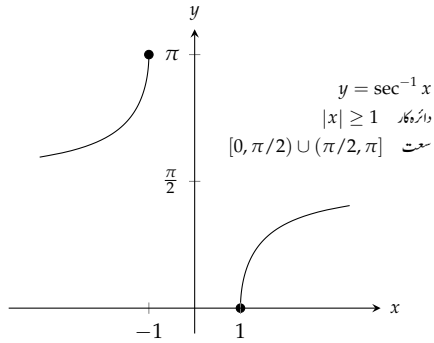

شکل ۷.۴۱: ترسیم $y = \sec^{-1} x$

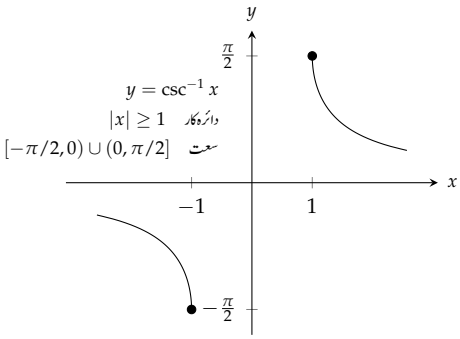

شکل ۷.۴۲: ترسیم $y = \csc^{-1} x$

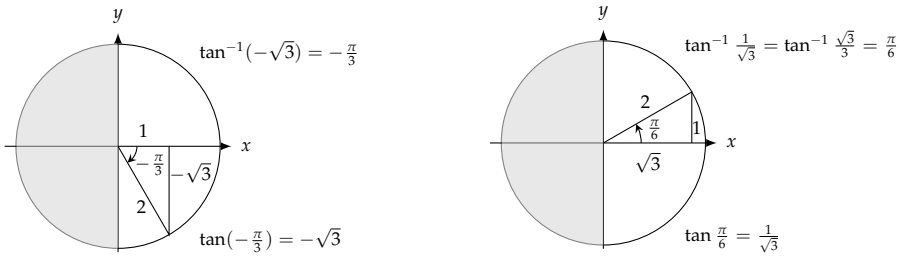

شکل ۷.۴۳: الٹ کوٹینجنٹ کی مخصوص قیمتیں (مثال ۷.۵۶)۔

۱۱۴۴۲ الٹ کوٹینجنٹ کی مخصوص قیمتوں کا حصول شکل ۷.۴۳ میں دکھایا گیا ہے۔ درج ذیل دیگر قیمتیں بھی اسی طرح حاصل کی جا سکتی ہیں۔

x	$\sqrt{3}$	1	$\frac{\sqrt{3}}{3}$	$-\frac{\sqrt{3}}{3}$	-1	$-\sqrt{3}$
$\tan^{-1} x$	$\frac{\pi}{3}$	$\frac{\pi}{4}$	$\frac{\pi}{6}$	$-\frac{\pi}{6}$	$-\frac{\pi}{4}$	$-\frac{\pi}{3}$

۱۱۴۴۳ □

۱۱۴۴۴ مثال ۷.۵۷: اگر $\alpha = \sin^{-1} \frac{2}{3}$ ہو تب $\cos \alpha$ ، $\tan \alpha$ ، $\sec \alpha$ ، $\csc \alpha$ اور $\cot \alpha$ کیا ہوں گے؟

۱۱۴۴۵ حل: چونکہ $\alpha = \sin^{-1} \frac{2}{3}$ ہے لہٰذا ہم α کو قائمہ مثلث کا ایک زاویہ تصور کرتے ہیں جس کا مخالف ضلع 2 اور وتر 3 ہیں۔ مثلث کا تیسرا ضلع
۱۱۴۴۶ (قاعدہ) درج ذیل ہو گا (شکل ۷.۴۴)۔

$$\sqrt{3^2 - 2^2} = \sqrt{9 - 4} = \sqrt{5}$$ مسئلہ فیثاغورث

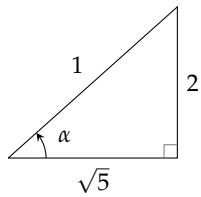

شکل ۷.۴۴: مثلث کی مدد سے زاویوں کا حصول (مثال ۷.۵۷)

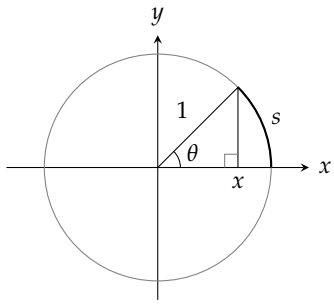

شکل ۷.۴۵: اکائی دائرہ میں زاویہ $\theta = \cos^{-1} x$ مخالف قوس کی لمبائی s کے برابر ہوگا۔

۱۱۴۴۷ ہم مثلث پر قاعدہ کی لمبائی لکھ کر درج ذیل حاصل کرتے ہیں۔

$$\cos\alpha = \frac{\sqrt{5}}{3},\ \tan\alpha = \frac{2}{\sqrt{5}},\ \sec\alpha = \frac{3}{\sqrt{5}},\ \csc\alpha = \frac{3}{2},\ \cot\alpha = \frac{\sqrt{5}}{2}$$

۱۱۴۴۸ □

۱۱۴۴۹ رداس r کے دائرہ میں مرکز پر زاویہ θ اور قوس کی لمبائی s کا تعلق $s = r\theta$ ہے لہذا اکائی دائرہ میں $s = \theta$ ہوگا (شکل ۷.۴۵)۔ یوں متغیر x کا

۱۱۴۵۰ الٹ کوسائن $\cos^{-1} x$ زاویہ θ دیگا جس کی قیمت مخالف قوس کی لمبائی s کے برابر ہوگی۔ الٹ سائن کے لئے بھی اس قسم کا تعلق پایا جاتا ہے۔

۱۱۴۵۱ مثال ۷.۵۸: $\cot\left(\sec^{-1}(-\frac{2}{\sqrt{3}}) + \csc^{-1}(-2)\right)$ کی قیمت تلاش کریں۔

۱۱۴۵۲ حل: ہم اندر سے باہر کی جانب چلتے ہوئے زاویوں اور نسبتوں کو مثلثوں کی مدد سے ظاہر کریں گے۔

۱۱۴۵۳ **پہلا قدم:** سیکنٹ کی منفی قیمتیں ربع دوم کے زاویوں سے حاصل ہوں گی (شکل ۷.۴۶-ا):

$$\sec^{-1}\left(-\frac{2}{\sqrt{3}}\right) = \sec^{-1}\left(\frac{2}{-\sqrt{3}}\right) = \frac{5\pi}{6}$$

۱۱۴۵۴ **دوسرا قدم:** کوسیکنٹ کی منفی قیمتیں ربع چہارم کے زاویوں سے حاصل ہوں گی (شکل ۷.۴۶-ب):

$$\csc^{-1}(-2) = \csc^{-1}\left(\frac{2}{-1}\right) = -\frac{\pi}{6}$$

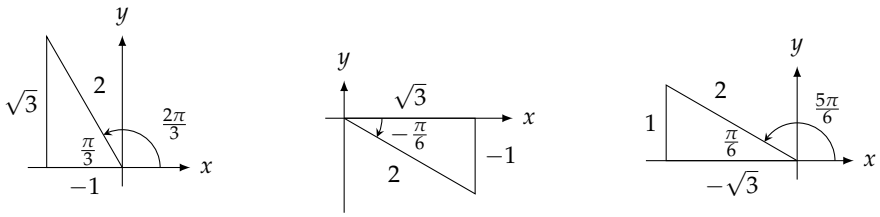

(ا) $\sec(\frac{5\pi}{6}) = -\frac{2}{\sqrt{3}}$ (ب) $\csc(-\frac{\pi}{6}) = -2$ (ج) $\cot(\frac{2\pi}{3}) = -\frac{1}{\sqrt{3}}$

شکل ۷.۴۶: مثلث برائے مثال ۷.۵۸

(ا) (ب)

شکل ۷.۴۷: مثلث برائے مثال ۷.۵۹

۱۱۳۵۵ **تیسرا قدم:** کوٹینجنٹ کی قیمتیں ربع چہارم سے حاصل ہو گی (شکل ۷.۵۸-ج):

$$\begin{aligned}\cot\left(\sec^{-1}(-\tfrac{2}{\sqrt{3}}) + \csc^{-1}(-2)\right) &= \cot\left(\frac{5\pi}{6} - \frac{\pi}{6}\right)\\ &= \cot\left(\frac{2\pi}{3}\right)\\ &= -\frac{1}{\sqrt{3}}\end{aligned}$$

۱۱۳۵۶ □

۱۱۳۵۷ **مثال ۷.۵۹:** $\sec\left(\tan^{-1}\frac{x}{3}\right)$ تلاش کریں۔

۱۱۳۵۸ **حل:** ہم $\theta = \tan^{-1}(x/3)$ لے کر زاویہ θ کو قائمہ مثلث میں تصور کرتے ہیں (شکل ۷.۴۷-ا)۔ یوں

$$\tan\theta = \frac{\text{مخالف}}{\text{قریبی}} = \frac{x}{3}$$

۱۱۴۵۹ ہو گا۔ مثلث کا وتر

$$\sqrt{x^2+3^2}=\sqrt{x^2+9}$$

۱۱۴۶۰ ہو گا لہٰذا سیکنٹ کی قیمت درج ذیل ہو گی (شکل ۷.۴۷-ب)۔

$$\sec\left(\tan^{-1}\frac{x}{3}\right)=\sec\theta=\frac{\sqrt{x^2+9}}{3}$$

۱۱۴۶۱ □

۱۱۴۶۲ **سوالات**

۱۱۴۶۳ **الٹ تکونیاتی تفاعل کی مخصوص قیمتیں**

۱۱۴۶۴ سوال ۷.۴۵۰ تا سوال ۷.۴۶۱ میں مثال ۷.۵۴ تا مثال ۷.۵۶ کی طرح حوالہ مثلث استعمال کرتے ہوئے زاویے تلاش کریں۔

۱۱۴۶۵ سوال ۷.۴۵۰: (ا) $\tan^{-1}1$، (ب) $\tan^{-1}(-\sqrt{3})$، (ج) $\tan^{-1}(\frac{1}{\sqrt{3}})$

۱۱۴۶۶ سوال ۷.۴۵۱: (ا) $\tan^{-1}(-1)$، (ب) $\tan^{-1}\sqrt{3}$، (ج) $\tan^{-1}(\frac{-1}{\sqrt{3}})$

۱۱۴۶۷ سوال ۷.۴۵۲: (ا) $\sin^{-1}(\frac{-1}{2})$، (ب) $\sin^{-1}(\frac{1}{\sqrt{2}})$، (ج) $\sin^{-1}(\frac{-\sqrt{3}}{2})$

۱۱۴۶۸ سوال ۷.۴۵۳: (ا) $\sin^{-1}(\frac{1}{2})$، (ب) $\sin^{-1}(\frac{-1}{\sqrt{2}})$، (ج) $\sin^{-1}(\frac{\sqrt{3}}{2})$

۱۱۴۶۹ سوال ۷.۴۵۴: (ا) $\cos^{-1}(\frac{1}{2})$، (ب) $\cos^{-1}(\frac{-1}{\sqrt{2}})$، (ج) $\cos^{-1}(\frac{\sqrt{3}}{2})$

۱۱۴۷۰ سوال ۷.۴۵۵: (ا) $\cos^{-1}(\frac{-1}{2})$، (ب) $\cos^{-1}(\frac{1}{\sqrt{2}})$، (ج) $\cos^{-1}(\frac{-\sqrt{3}}{2})$

۱۱۴۷۱ سوال ۷.۴۵۶: (ا) $\sec^{-1}(-\sqrt{2})$، (ب) $\sec^{-1}(\frac{2}{\sqrt{3}})$، (ج) $\sec^{-1}(-2)$

۱۱۴۷۲ سوال ۷.۴۵۷: (ا) $\sec^{-1}(\sqrt{2})$، (ب) $\sec^{-1}(\frac{-2}{\sqrt{3}})$، (ج) $\sec^{-1}(2)$

۱۱۴۷۳ سوال ۷.۴۵۸: (ا) $\csc^{-1}(\sqrt{2})$، (ب) $\csc^{-1}(\frac{-2}{\sqrt{3}})$، (ج) $\csc^{-1}(2)$

۱۱۴۷۴ سوال ۷.۴۵۹: (ا) $\csc^{-1}(-\sqrt{2})$، (ب) $\csc^{-1}(\frac{2}{\sqrt{3}})$، (ج) $\csc^{-1}(-2)$

۱۱۴۷۵ سوال ۷.۴۶۰: (ا) $\cot^{-1}(-1)$، (ب) $\cot^{-1}\sqrt{3}$، (ج) $\cot^{-1}(\frac{-1}{\sqrt{3}})$

۱۱۴۷۶ سوال ۷.۴۶۱: (ا) $\cot^{-1}(1)$، (ب) $\cot^{-1}\sqrt{-3}$، (ج) $\cot^{-1}(\frac{1}{\sqrt{3}})$

۱۱۴۷۷ **تکونیاتی تفاعل کی قیمتیں**

۱۱۳۷۸ سوال ۷.۴۶۲: اگر $\alpha = \sin^{-1}(\frac{5}{13})$ ہو تب $\cos\alpha$ ، $\tan\alpha$ ، $\sec\alpha$ ، $\csc\alpha$ اور $\cot\alpha$ کیا ہوں گے؟

۱۱۳۷۹ سوال ۷.۴۶۳: اگر $\alpha = \tan^{-1}(\frac{4}{3})$ ہو تب $\sin\alpha$ ، $\cos\alpha$ ، $\sec\alpha$ ، $\csc\alpha$ اور $\cot\alpha$ کیا ہوں گے؟

۱۱۳۸۰ سوال ۷.۴۶۴: اگر $\alpha = \sec^{-1}(-\sqrt{5})$ ہو تب $\sin\alpha$ ، $\cos\alpha$ ، $\tan\alpha$ ، $\csc\alpha$ اور $\cot\alpha$ کیا ہوں گے؟

۱۱۳۸۱ سوال ۷.۴۶۵: اگر $\alpha = \sec^{-1}(\frac{-\sqrt{13}}{2})$ ہو تب $\sin\alpha$ ، $\cos\alpha$ ، $\tan\alpha$ ، $\csc\alpha$ اور $\cot\alpha$ کیا ہوں گے؟

۱۱۳۸۲ تکونیاتی اور الٹے تکونیاتی اجزاء کی قیمتوں کا حصول

۱۱۳۸۳ سوال ۷.۴۶۶ تا سوال ۷.۴۷۷ میں درکار قیمت معلوم کریں۔

۱۱۳۸۴ سوال ۷.۴۶۶: $\sin\left(\cos^{-1}\frac{\sqrt{2}}{2}\right)$

۱۱۳۸۵ سوال ۷.۴۶۷: $\sec\left(\cos^{-1}\frac{1}{2}\right)$

۱۱۳۸۶ سوال ۷.۴۶۸: $\tan\left(\sin^{-1}(-\frac{1}{2})\right)$

۱۱۳۸۷ سوال ۷.۴۶۹: $\cot\left(\sin^{-1}(-\frac{\sqrt{3}}{2})\right)$

۱۱۳۸۸ سوال ۷.۴۷۰: $\csc(\sec^{-1}2) + \cos(\tan^{-1}(-\sqrt{3}))$

۱۱۳۸۹ سوال ۷.۴۷۱: $\tan(\sec^{-1}1) + \sin(\csc^{-1}(-2))$

۱۱۳۹۰ سوال ۷.۴۷۲: $\sin\left(\sin^{-1}(-\frac{1}{2}) + \cos^{-1}(-\frac{1}{2})\right)$

۱۱۳۹۱ سوال ۷.۴۷۳: $\cot\left(\sin^{-1}(-\frac{1}{2}) - \sec^{-1}2\right)$

۱۱۳۹۲ سوال ۷.۴۷۴: $\sec(\tan^{-1}1 + \csc^{-1}1)$

۱۱۳۹۳ سوال ۷.۴۷۵: $\sec(\cot^{-1}\sqrt{3} + \csc^{-1}(-1))$

۱۱۳۹۴ سوال ۷.۴۷۶: $\sec^{-1}(\sec(-\frac{\pi}{6}))$ (جواب $-\frac{\pi}{6}$ نہیں ہے۔)

۱۱۳۹۵ سوال ۷.۴۷۷: $\cot^{-1}(\cot(-\frac{\pi}{4}))$

۱۱۳۹۶

۱۱۳۹۷ تکونیاتی فقرے

۱۱۳۹۸ سوال ۷.۴۷۸ تا سوال ۷.۴۸۹ میں تکونیاتی فقروں کو حل کریں۔

۱۱۳۹۹ سوال ۷.۴۷۸: $\sec(\tan^{-1}\frac{x}{2})$

۱۱۵۰۰ سوال ۷.۴۷۹: $\sec(\tan^{-1}2x)$

۱۱۵۰۱ سوال ۷.۴۸۰: $\tan(\sec^{-1}3y)$

سوال ۷.۴۸۱: $\tan(\sec^{-1}\frac{y}{5})$

سوال ۷.۴۸۲: $\cos(\sin^{-1}x)$

سوال ۷.۴۸۳: $\tan(\cos^{-1}x)$

سوال ۷.۴۸۴: $\sin(\tan^{-1}\sqrt{x^2-2x}),\quad x\geq 2$

سوال ۷.۴۸۵: $\sin(\tan^{-1}\frac{x}{\sqrt{x^2+1}})$

سوال ۷.۴۸۶: $\cos(\sin^{-1}\frac{2y}{3})$

سوال ۷.۴۸۷: $\cos(\sin^{-1}\frac{y}{5})$

سوال ۷.۴۸۸: $\sin(\sec^{-1}\frac{x}{4})$

سوال ۷.۴۸۹: $\sin(\sec^{-1}\frac{\sqrt{x^2+4}}{x})$

حد

سوال ۷.۴۹۰ تا سوال ۷.۴۹۷ میں حد تلاش کریں۔ جہاں شبہ ہو وہاں تفاعل کی ترسیم پر نظر ڈالیں۔

سوال ۷.۴۹۰: $\lim\limits_{x\to 1^-}\sin^{-1}x$

سوال ۷.۴۹۱: $\lim\limits_{x\to -1^+}\cos^{-1}x$

سوال ۷.۴۹۲: $\lim\limits_{x\to\infty}\tan^{-1}x$

سوال ۷.۴۹۳: $\lim\limits_{x\to -\infty}\tan^{-1}x$

سوال ۷.۴۹۴: $\lim\limits_{x\to\infty}\sec^{-1}x$

سوال ۷.۴۹۵: $\lim\limits_{x\to -\infty}\sec^{-1}x$

سوال ۷.۴۹۶: $\lim\limits_{x\to\infty}\csc^{-1}x$

سوال ۷.۴۹۷: $\lim\limits_{x\to -\infty}\csc^{-1}x$

نظریہ اور استعمال

سوال ۷.۴۹۸: آپ کے اسکول کے تدریسی کمروں میں لکھائی کا تختہ سیاہ[۲۵] زمین سے 1.25 m کی اونچائی سے شروع ہوتا ہے جبکہ اس کا قد 2 m میٹر ہے۔ آپ تختہ سیاہ سے x میٹر کے فاصلہ پر ہیں۔ دکھائیں کہ آپ کا دیکھنے کا زاویہ $\alpha = \cot^{-1}\frac{x}{3.25} - \cot^{-1}\frac{x}{1.25}$ ہے (شکل

[۲۵] blackboard

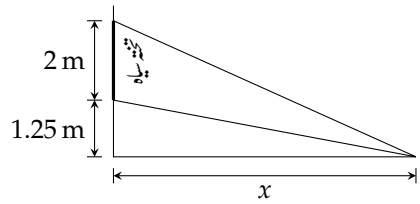

شکل ۷.۴۸: تدریسی کمرہ میں تختہ سیاہ (سوال ۷.۴۹۸)

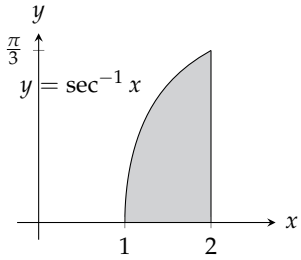

شکل ۷.۴۹: جسم طواف (سوال ۷.۴۹۹)

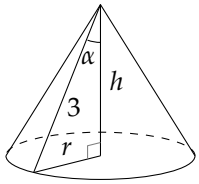

شکل ۷.۵۰: مخروط برائے سوال ۷.۵۰۰

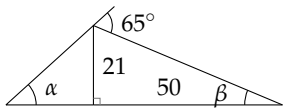

شکل ۷.۵۱: برائے سوال ۷.۵۰۱

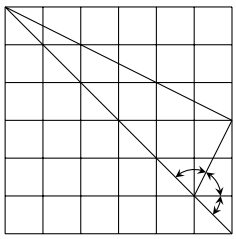

شکل ۷.۵۲: برائے سوال ۷.۵۰۲

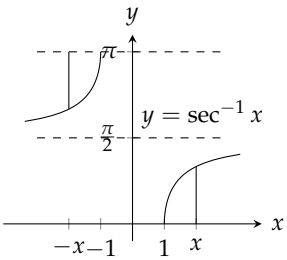

شکل ۷.۵۳: ترسیم برائے سوال ۷.۵۰۳

۱۱۵۲۶ ۷.۴۸)۔

۱۱۵۲۷

۱۱۵۲۸ سوال ۷.۴۹۹: منحنی $y = \sec^{-1} x$ اور محور x پر $x = 1$ تا $x = 2$ کے بیچ خطہ کو محور y کے گرد گھما کر ٹھوس جسم طواف پیدا کیا جاتا
۱۱۵۲۹ ہے (شکل ۷.۴۹)۔ اس جسم کا حجم تلاش کریں۔

۱۱۵۳۰ سوال ۷.۵۰۰: ایک مخروط کا ترچھا قد 3 m ہے (شکل ۷.۵۰)۔ مخروط کا زیادہ سے زیادہ حجم کس زاویہ α پر حاصل ہو گا۔

۱۱۵۳۱ سوال ۷.۵۰۱: زاویہ α کو شکل ۷.۵۱ میں دریافت کریں۔

۱۱۵۳۲

۱۱۵۳۳ سوال ۷.۵۰۲: آپ $\tan^{-1} 1 + \tan^{-1} 2 + \tan^{-1} 3 = \pi$ کی تصدیق شکل ۷.۵۲ کی مدد سے کر سکتے ہیں۔ ایسا کر کے دیکھیں۔

۱۱۵۳۴ سوال ۷.۵۰۳: (ا) تماثل $\sec^{-1}(-x) = \pi - \sec^{-1} x$ کو شکل ۷.۵۳ کی مدد سے جیومیٹریائی طور پر اخذ کریں۔ (ب) اسی تماثل کو
۱۱۵۳۵ درج ذیل دو مساوات کی مدد سے تحلیلی طور پر اخذ کریں۔

$$\cos^{-1}(-x) = \pi - \cos^{-1} x \qquad \text{مساوات ۶}$$

$$\sec^{-1} x = \cos^{-1}\left(\tfrac{1}{x}\right) \qquad \text{مساوات ۱}$$

سوال ۷.۵۰۴: تماثل $\sin^{-1} x + \cos^{-1} x = \frac{\pi}{2}$ کو $0 < x < 1$ کے لئے شکل ۷.۳۸ سے اخذ کیا گیا۔ اس کی تصدیق وقفہ $[-1,1]$ کے باقی حصہ کے لئے کرنے کی خاطر $x = 1$ ، $x = 0$ اور $x = -1$ اس تماثل میں پر کر کے دیکھیں۔ اس کے بعد وقفہ $(-1,0)$ میں x کے لئے اس کی تصدیق کی خاطر $x = -a,\ a > 0$ لیتے ہوئے مساوات ۴ اور مساوات ۶ کا اطلاق مجموعہ $\sin^{-1}(-a) + \cos^{-1}(-a)$ پر کریں۔

سوال ۷.۵۰۵: دکھائیں کہ مجموعہ $\tan^{-1} x + \tan^{-1}(\frac{1}{x})$ مستقل ہے۔

سوال ۷.۵۰۶ تا سوال ۷.۵۰۹ میں کون سے فقرے معین اور کون سے غیر معین ہیں؟

سوال ۷.۵۰۶: (ا) $\tan^{-1} 2$ ، (ب) $\cos^{-1} 2$

سوال ۷.۵۰۷: (ا) $\csc^{-1} \frac{1}{2}$ ، (ب) $\csc^{-1} 2$

سوال ۷.۵۰۸: (ا) $\sec^{-1} 0$ ، (ب) $\sin^{-1} \sqrt{2}$

سوال ۷.۵۰۹: (ا) $\cot^{-1}(-\frac{1}{2})$ ، (ب) $\cos^{-1}(-5)$

کیلکولیٹر استعمال کریں

سوال ۷.۵۱۰: درج ذیل کی قیمتیں تلاش کریں۔

ا. $\sec^{-1} 1.5$ ب. $\csc^{-1}(-1.5)$ ج. $\cot^{-1} 2$

سوال ۷.۵۱۱: درج ذیل کی قیمتیں تلاش کریں۔

ا. $\sec^{-1}(-3)$ ب. $\csc^{-1} 1.7$ ج. $\cot^{-1}(-2)$

کمپیوٹر کا استعمال

سوال ۷.۵۱۲ تا سوال ۷.۵۱۴ میں ہر ایک مرکب تفاعل کا دائرہ کار اور سعت تلاش کریں۔ ان مرکب تفاعل کو علیحدہ علیحدہ ترسیم کریں۔ کیا انفرادی ترسیمات معنی رکھتی ہیں؟ اپنے جواب کی وجہ پیش کریں۔ اگر کوئی فرق نظر آئے، اس پر تبصرہ کریں۔

سوال ۷.۵۱۲: (ا) $y = \tan^{-1}(\tan x)$ ، (ب) $y = \tan(\tan^{-1} x)$

سوال ۷.۵۱۳: (ا) $y = \sin^{-1}(\sin x)$ ، (ب) $y = \sin(\sin^{-1} x)$

سوال ۷.۵۱۴: (ا) $y = \cos^{-1}(\cos x)$ ، (ب) $y = \cos(\cos^{-1} x)$

سوال ۷.۵۱۵: تفاعل $y = \sec(\sec^{-1} x) = \sec(\cos^{-1}(\frac{1}{x}))$ ترسیم کریں۔ آپ کیا دیکھتے ہیں؟

سوال ۷.۵۱۶: تفاعل $y = \frac{4x}{x^2+1}$ ترسیم کریں۔ اس کے ساتھ $y = 2\sin(2\tan^{-1} x)$ بھی ترسیم کریں۔ آپ کیا دیکھتے ہیں؟

سوال ۷.۵۱۷: ناطق تفاعل $y = \frac{2-x^2}{x^2}$ ترسیم کریں۔ اس کے ساتھ $y = \cos(2\sec^{-1} x)$ ترسیم کریں۔ آپ کیا دیکھتے ہیں؟

۱۱۵۶۵

۱۱۵۶۶

۱۱۵۶۷ ۷.۹ الٹ تکونیاتی تفاعل کے تفرق؛ تکمل

۱۱۵۶۸ الٹ تکونیاتی تفاعل مختلف اقسام کے تفاعل، جو انجینئری، طبیعیات اور ریاضیات میں رونما ہوتے ہیں، کے الٹ تفرق مہیا کرتے ہیں۔ اس حصہ میں ہم الٹ
۱۱۵۶۹ تکونیاتی تفاعل کے تفرق حاصل کرتے ہیں اور متعلقہ تکملات پر غور کرتے ہیں۔

۱۱۵۷۰ مثال ۷.۶۰:

$$\frac{\mathrm{d}}{\mathrm{d}x}\sin^{-1}(x^2) = \frac{1}{\sqrt{1-(x^2)^2}}\cdot\frac{\mathrm{d}}{\mathrm{d}x}(x^2) = \frac{2x}{\sqrt{1-x^2}} \qquad \text{(ا)}$$

$$\begin{aligned}\frac{\mathrm{d}}{\mathrm{d}x}\tan^{-1}\sqrt{x+1} &= \frac{1}{1+(\sqrt{x+1})^2}\cdot\frac{\mathrm{d}}{\mathrm{d}x}(\sqrt{x+1}) \qquad \text{(ب)}\\ &= \frac{1}{x+2}\cdot\frac{1}{2\sqrt{x+1}} = \frac{1}{2\sqrt{x+1}(x+2)}\end{aligned}$$

$$\begin{aligned}\frac{\mathrm{d}}{\mathrm{d}x}\sec^{-1}(-3x) &= \frac{1}{|-3x|\sqrt{(-3x)^2-1}}\cdot\frac{\mathrm{d}}{\mathrm{d}x}(-3x) \qquad \text{(ج)}\\ &= \frac{-3}{|3x|\sqrt{9x^2-1}} = \frac{-1}{|x|\sqrt{9x^2-1}}\end{aligned}$$

۱۱۵۷۱ □

۱۱۵۷۲ مثال ۷.۶۱:

$$\begin{aligned}\int_0^1 \frac{e^{\tan x}}{1+x^2}\,\mathrm{d}x &= \int_0^{\pi/4} e^u\,\mathrm{d}u \qquad u = \tan^{-1} u\\ &= e^u\Big]_0^{\pi/4} = e^{\pi/4}-1\end{aligned}$$

۱۱۵۷۳ □

۱۱۵۷۳ الٹ تکونیاتی تفاعل کے تفرق درج ذیل ہیں۔

$$\frac{\mathrm{d}(\sin^{-1} u)}{\mathrm{d}x} = \frac{\frac{\mathrm{d}u}{\mathrm{d}x}}{\sqrt{1-u^2}}, \quad |u| < 1 \tag{۱}$$

$$\frac{\mathrm{d}(\cos^{-1} u)}{\mathrm{d}x} = -\frac{\frac{\mathrm{d}u}{\mathrm{d}x}}{\sqrt{1-u^2}}, \quad |u| < 1 \tag{۲}$$

$$\frac{\mathrm{d}(\tan^{-1} u)}{\mathrm{d}x} = \frac{\frac{\mathrm{d}u}{\mathrm{d}x}}{1+u^2} \tag{۳}$$

$$\frac{\mathrm{d}(\cot^{-1} u)}{\mathrm{d}x} = -\frac{\frac{\mathrm{d}u}{\mathrm{d}x}}{1+u^2} \tag{۴}$$

$$\frac{\mathrm{d}(\sec^{-1} u)}{\mathrm{d}x} = \frac{\frac{\mathrm{d}u}{\mathrm{d}x}}{|u|\sqrt{u^2-1}}, \quad |u| > 1 \tag{۵}$$

$$\frac{\mathrm{d}(\csc^{-1} u)}{\mathrm{d}x} = \frac{-\frac{\mathrm{d}u}{\mathrm{d}x}}{|u|\sqrt{u^2-1}}, \quad |u| > 1 \tag{۶}$$

۱۱۵۷۵ آئیں مساوات ۱ اور مساوات ۵ کو حاصل کرتے ہیں۔ مساوات ۳ کو بھی اسی طرح حاصل کیا جا سکتا ہے۔ مساوات ۲، مساوات ۴ اور مساوات ۶ کو موزوں تماثل
۱۱۵۷۶ تفرق کر کے حاصل کیا جا سکتا ہے (سوال ۷.۵۹۸ تا سوال ۷.۶۰۰)۔

۱۱۵۷۷ تفاعل $y = \sin^{-1} u$ کا تفرق

۱۱۵۷۸ ہم جانتے ہیں کہ وقفہ $-\frac{\pi}{2} < y < \frac{\pi}{2}$ میں تفاعل $x = \sin y$ قابل تفرق ہے اور اس کا تفرق، یعنی کوسائن، اس وقفہ پر مثبت ہے۔ یوں مسئلہ
۱۱۵۷۹ ۷.۱ ہمیں یقین دہانی کراتا ہے کہ پورے وقفہ $-1 < x < 1$ پر الٹ تفاعل $y = \sin^{-1} x$ قابل تفرق ہو گا۔ چونکہ نقطہ $x = 1$ اور
۱۱۵۸۰ $x = -1$ پر اس کی ترسیم کے مماس انتصابی ہیں (شکل ۷.۵۴) لہٰذا ان نقطوں پر ہم الٹ تفاعل $y = \sin^{-1} x$ کو قابل تفرق تصور نہیں کر سکتے
۱۱۵۸۱ ہیں۔

۱۱۵۸۲ ہم $y = \sin^{-1} x$ کا تفرق درج ذیل طریقہ سے حاصل کرتے ہی:

$y = \sin^{-1} x \Leftrightarrow \sin y = x$	$\sin y = x$
دونوں اطراف کا x کے لحاظ سے تفرق	$\frac{\mathrm{d}}{\mathrm{d}x}(\sin y) = 1$
زنجیری قاعدہ	$\cos y \frac{\mathrm{d}y}{\mathrm{d}x} = 1$
وقفہ پر $\cos y > 0$ ہے لہٰذا تقسیم کیا جا سکتا ہے	$\frac{\mathrm{d}y}{\mathrm{d}x} = \frac{1}{\cos y}$
شکل ۷.۵۵	$= \frac{1}{\sqrt{1-x^2}}$

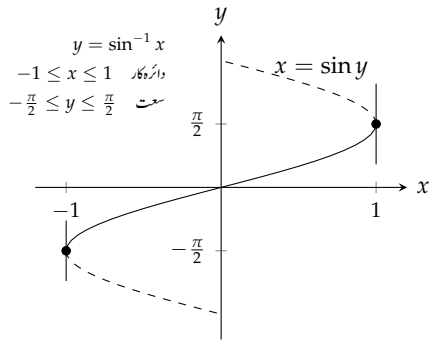

شکل ۷.۵۴: تفاعل $y = \sin^{-1} x$ کی ترسیم کے مماس نقطہ $x = -1$ اور $x = 1$ پر انتصابی ہیں۔

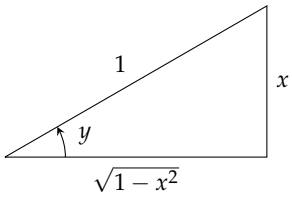

شکل ۷.۵۵: اس حوالہ مثلث میں $\sin y = \frac{x}{1} = x$ اور $\cos y = \frac{\sqrt{1-x^2}}{1} = \sqrt{1-x^2}$ ہوگا۔

۱۱۵۸۳ یوں x کے لحاظ سے $y = \sin^{-1} x$ کو تفرق درج ذیل ہوگا۔

$$\frac{\mathrm{d}}{\mathrm{d}x}(\sin^{-1} x) = \frac{1}{\sqrt{1-x^2}}$$

۱۱۵۸۴ اگر x کے لحاظ سے u قابل تفرق تفاعل ہو تب $y = \sin^{-1} u$ کو زنجیری قاعدہ

$$\frac{\mathrm{d}y}{\mathrm{d}x} = \frac{\mathrm{d}y}{\mathrm{d}u}\frac{\mathrm{d}u}{\mathrm{d}x}$$

۱۱۵۸۵ کی اطلاق سے درج ذیل حاصل ہوگا۔

$$\frac{\mathrm{d}}{\mathrm{d}x}(\sin^{-1} u) = \frac{1}{\sqrt{1-u^2}}\frac{\mathrm{d}u}{\mathrm{d}x} \qquad |u| < 1$$

۱۱۵۸۶ تفاعل $y = \sec^{-1} u$ کا تفرق

۱۱۵۸۷ ہم $y = \sec^{-1} x, |x| > 1$ کا تفرق بھی اسی طرح حاصل کرتے ہیں۔

$$y = \sec^{-1} x \Leftrightarrow \sec y = x$$

$$\sec y = x$$

x کے لحاظ سے دونوں اطراف کا تفرق

$$\frac{\mathrm{d}}{\mathrm{d}x}(\sec y) = 1$$

زنجیری قاعدہ

$$\sec y \tan y \frac{\mathrm{d}y}{\mathrm{d}x} = 1$$

$$\frac{\mathrm{d}y}{\mathrm{d}x} = \frac{1}{\sec y \tan y}$$

شکل ۷.۵۶

$$= \mp \frac{1}{x\sqrt{x^2-1}}$$

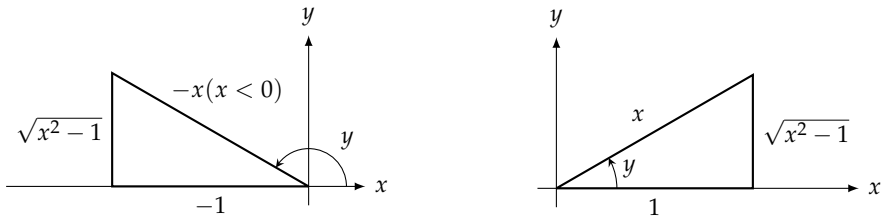

شکل ۷.۵۶: دونوں ربع میں $\sin y = x$ ہے۔ ربع اول میں $\tan y = \frac{\sqrt{x^2-1}}{1} = \sqrt{x^2-1}$ ہے جبکہ ربع دوم میں $\tan y = \frac{\sqrt{x^2-1}}{(-1)} = -\sqrt{x^2-1}$ ہے۔

۱۱۵۸۸ درج بالا میں تیسرے قدم پر چونکہ $|x| > 1$ ہے لہٰذا y وقفہ $(0, \pi/2) \cup (\pi/2, \pi)$ میں پایا جائے گا جس کی وجہ سے

۱۱۵۸۹ $\sec y \tan y \neq 0$ ہو گا لہٰذا دونوں اطراف کو غیر صفر $\sec y \tan y$ سے تقسیم کیا جا سکتا ہے۔

۱۱۵۹۰ علامت کے بارے میں ہم کیا کر سکتے ہیں؟ ہم دیکھتے ہیں (شکل ۷.۵۷) کہ $|x| > 1$ کے لئے $y = \sec^{-1} x$ کی ترسیم کا ڈھلوان مثبت رہتا ہے

۱۱۵۹۱ لہٰذا درج ذیل لکھا جا سکتا ہے۔

$$\frac{\mathrm{d}}{\mathrm{d}x}(\sec^{-1} x) = \begin{cases} \frac{1}{x\sqrt{x^2-1}} & x > 1 \\ -\frac{1}{x\sqrt{x^2-1}} & x < -1 \end{cases} \tag{۷}$$

۱۱۵۹۲ مطلق قیمت استعمال کرتے ہوئے ہم مساوات ۷ کو درج ذیل لکھ سکتے ہیں۔

$$\frac{\mathrm{d}}{\mathrm{d}x}(\sec^{-1} x) = \frac{1}{|x|\sqrt{x^2-1}} \qquad |x| > 1$$

۱۱۵۹۳ اگر $|u| > 1$ ہو اور x کا u قابل تفرق تفاعل ہو تب زنجیری قاعدہ کے استعمال سے درج ذیل حاصل ہو گا۔

$$\frac{\mathrm{d}}{\mathrm{d}x}(\sec^{-1} u) = \frac{1}{|u|\sqrt{u^2-1}}\frac{\mathrm{d}u}{\mathrm{d}x} \qquad |u| > 1$$

۱۱۵۹۴ کلیات تکمل

۱۱۵۹۵ ہم مساوات ۱، مساوات ۳ اور مساوات ۵ جہاں $a = 1$ ہے، سے تکمل کے درج ذیل تین اہم کلیات حاصل ہوتے ہیں جہاں $a \neq 0$ مستقل ہے۔

$$\int \frac{\mathrm{d}u}{\sqrt{a^2-u^2}} = \sin^{-1}\left(\tfrac{u}{a}\right) + C \qquad \text{$u^2 < a^2$ کے لئے درست ہے} \tag{۸}$$

$$\int \frac{\mathrm{d}u}{a^2+u^2} = \frac{1}{a}\tan^{-1}\left(\tfrac{u}{a}\right) + C \qquad \text{تمام u کے لئے درست ہے} \tag{۹}$$

$$\int \frac{\mathrm{d}u}{u\sqrt{u^2-a^2}} = \frac{1}{a}\sec^{-1}\left|\tfrac{u}{a}\right| + C \qquad \text{$u^2 > a^2$ کے لئے درست ہے} \tag{۱۰}$$

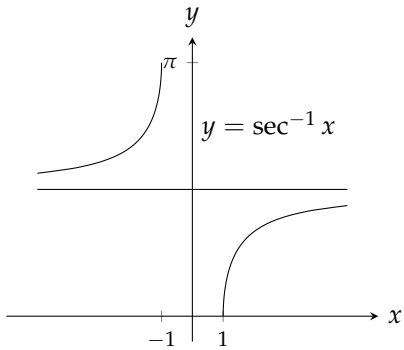

شکل ۷.۵۷: قوس $y = \sec^{-1} x$ کا ڈھلوان $x < -1$ اور $x > 1$ دونوں کے لئے مثبت ہے۔

۱۱۵۹۶ تکمل کے درج بالا کلیات کے دائیں ہاتھ کا تفرق لے کر ان کی تصدیق کی جا سکتی ہے۔

۱۱۵۹۷ مثال ۷.۶۲:

$$\int_{\sqrt{2}/2}^{\sqrt{3}/2} \frac{\mathrm{d}x}{\sqrt{1-x^2}} = \sin^{-1}(x)\Big]_{\sqrt{2}/2}^{\sqrt{3}/2}$$

$$= \sin^{-1}(\tfrac{\sqrt{3}}{2}) - \sin^{-1}(\tfrac{\sqrt{2}}{2}) = \frac{\pi}{3} - \frac{\pi}{4} = \frac{\pi}{12} \qquad \text{(ا)}$$

$$\int_0^1 \frac{\mathrm{d}x}{1+x^2} = \tan^{-1}(x)\Big]_0^1 = \tan^{-1}(1) - \tan^{-1}(0) = \frac{\pi}{4} - 0 = \frac{\pi}{4} \qquad \text{(ب)}$$

$$\int_{\frac{2}{\sqrt{3}}}^{\sqrt{2}} \frac{\mathrm{d}x}{x\sqrt{x^2-1}} = \sec^{-1}(x)\Big]_{2/\sqrt{3}}^{\sqrt{2}} = \frac{\pi}{4} - \frac{\pi}{6} = \frac{\pi}{12} \qquad \text{(ج)}$$

۱۱۵۹۸ □

۱۱۵۹۹ مثال ۷.۶۳:

(ا) $$\int \frac{\mathrm{d}x}{\sqrt{9-x^2}} = \int \frac{\mathrm{d}x}{\sqrt{(3)^2-x^2}} = \sin^{-1}(\tfrac{x}{3}) + C \qquad a = 3 \text{ اور } u = x \text{ مساوات ۸ میں}$$

(ب) $$\int \frac{\mathrm{d}x}{\sqrt{3-4x^2}} = \frac{1}{2}\int \frac{\mathrm{d}u}{\sqrt{a^2-u^2}} \qquad a = \sqrt{3},\ u = 2x$$

$$= \frac{1}{2}\sin^{-1}(\tfrac{u}{a}) + C \qquad \text{مساوات ۸}$$

$$= \frac{1}{2}\sin^{-1}(\tfrac{2x}{\sqrt{3}}) + C$$

۱۱۶۰۰ □

۱۱۶۰۱ مثال ۷.۶۴: تکمل $\int \frac{\mathrm{d}x}{\sqrt{4x-x^2}}$ کو حل کریں۔

۱۱۶۰۲ حل: یہاں ریاضی فقرہ $\sqrt{4x-x^2}$ مساوات ۸ تا مساوات ۱۰ میں سے کسی بھی تکمل میں پائے جانے والے ریاضی فقرے کی طرح نہیں ہے لہٰذا ہم
۱۱۶۰۳ اس کا مربع مکمل کرتے ہیں:

$$4x-x^2=-(x^2-4x)=-(x^2-4x+4)+4=3-(x-2)^2 \qquad \text{تکمیل مربع}$$

۱۱۶۰۴ اس کے بعد $a=2$ ، $u=x-2$ اور $\mathrm{d}u=\mathrm{d}x$ لیتے ہوئے درج ذیل حاصل ہوتا ہے۔

$$\begin{aligned}
\int \frac{\mathrm{d}x}{\sqrt{4x-x^2}} &= \int \frac{\mathrm{d}x}{\sqrt{4-(x-2)^2}} \\
&= \int \frac{\mathrm{d}u}{\sqrt{a^-u^2}} && a=2,\ u=x-2 \\
&= \sin^{-1}(\tfrac{u}{a})+C && \text{مساوات ۸} \\
&= \sin^{-1}(\tfrac{x-2}{2})+C
\end{aligned}$$

۱۱۶۰۵ □

۱۱۶۰۶ مثال ۷.۶۵:

$$\begin{aligned}
\int \frac{\mathrm{d}x}{10+x^2} &= \frac{1}{\sqrt{10}}\tan^{-1}(\tfrac{x}{\sqrt{10}})+C && a=\sqrt{10},\ u=x, \text{ مساوات ۹} \\
\int \frac{\mathrm{d}x}{7+3x^2} &= \frac{1}{\sqrt{3}}\int \frac{\mathrm{d}u}{a^2+u^2} && a=\sqrt{7},\ u=\sqrt{3}x \\
&= \frac{1}{\sqrt{3}}\cdot\frac{1}{a}\tan^{-1}(\tfrac{u}{a})+C && \text{مساوات ۹} \\
&= \frac{1}{\sqrt{3}}\cdot\frac{1}{\sqrt{7}}\tan^{-1}(\tfrac{\sqrt{3}x}{\sqrt{7}})+C \\
&= \frac{1}{\sqrt{21}}\tan^{-1}(\tfrac{\sqrt{3}x}{\sqrt{7}})+C
\end{aligned}$$

۱۱۶۰۷ □

۱۱۶۰۸ مثال ۷.۶۶: تکمل $\int \frac{\mathrm{d}x}{4x^2+4x+2}$ حل کریں۔

۱۱۲۰۹ حل: ہم ثانی $4x^2+4x$ کا مربع مکمل کرتے ہیں:

$$\begin{aligned}4x^2+4x+2 &= 4(x^2+x)+2 = 4\left(x^2+x+\frac{1}{4}\right)+2-\frac{4}{4}\\ &= 4\left(x+\frac{1}{2}\right)^2+1 = (2x+1)^2+1\end{aligned}$$

۱۱۲۱۰ اب $a=1$ ، $u=2x+1$ ، اور $\frac{\mathrm{d}u}{2}=\mathrm{d}x$ پر کرتے ہوئے درج ذیل حاصل ہو گا۔

$$\begin{aligned}\int\frac{\mathrm{d}x}{4x^2+4x+2} &= \int\frac{\mathrm{d}x}{(2x+1)^2+1} = \frac{1}{2}\int\frac{\mathrm{d}u}{u^2+a^2} && a=1, u=2x+1\\ &= \frac{1}{2}\cdot\frac{1}{a}\tan^{-1}\left(\tfrac{u}{a}\right)+C && \text{مساوات ۹}\\ &= \frac{1}{2}\tan^{-1}(2x+1) && a=1,\ u=2x+1\end{aligned}$$

۱۱۲۱۱ □

۱۱۲۱۲ مثال ۷.۶۷: تکمل $\int\frac{\mathrm{d}x}{x\sqrt{4x^2-5}}$ حل کریں۔

۱۱۲۱۳ حل:

$$\begin{aligned}\int\frac{\mathrm{d}x}{x\sqrt{4x^2-5}} &= \int\frac{\frac{\mathrm{d}u}{2}}{\frac{u}{2}\sqrt{u^2-a^2}} && u=2x,\ a=\sqrt{5}\\ &= \int\frac{\mathrm{d}u}{u\sqrt{u^2-a^2}}\\ &= \frac{1}{a}\sec^{-1}\left|\tfrac{u}{a}\right|+C && \text{مساوات ۱۰}\\ &= \frac{1}{\sqrt{5}}\sec^{-1}\left(\frac{2|x|}{\sqrt{5}}\right)+C && a=\sqrt{5},\ u=2x\end{aligned}$$

۱۱۲۱۴ □

۱۱۲۱۵ مثال ۷.۶۸: تکمل $\int\frac{\mathrm{d}x}{\sqrt{e^{2x}-6}}$ حل کریں۔

۱۱۶۱۶ حل:

$$\begin{aligned}
\int \frac{\mathrm{d}x}{\sqrt{e^{2x}-6}} &= \int \frac{\frac{\mathrm{d}u}{u}}{\sqrt{u^2-a^2}} && u = e^x,\ a = \sqrt{6} \\
&= \int \frac{\mathrm{d}u}{u\sqrt{u^2-a^2}} \\
&= \frac{1}{a}\sec^{-1}\left|\frac{u}{a}\right| + C && \text{مساوات ۱۰} \\
&= \frac{1}{\sqrt{6}}\sec^{-1}\left(\frac{e^x}{\sqrt{6}}\right) + C
\end{aligned}$$

۱۱۶۱۷ □

۱۱۶۱۸ **سوالات**

۱۱۶۱۹ **تفرق کی تلاش**

۱۱۶۲۰ سوال ۷.۵۱۸ تا سوال ۷.۵۳۹ میں y کا تفرق موزوں متغیر کے لحاظ سے دریافت کریں۔

۱۱۶۲۱ سوال ۷.۵۱۸: $y = \cos^{-1}(x^2)$

۱۱۶۲۲ سوال ۷.۵۱۹: $y = \cos^{-1}(\frac{1}{x})$

۱۱۶۲۳ سوال ۷.۵۲۰: $y = \sin^{-1}\sqrt{2}t$

۱۱۶۲۴ سوال ۷.۵۲۱: $y = \sin^{-1}(1-t)$

۱۱۶۲۵ سوال ۷.۵۲۲: $y = \sec^{-1}(2s+1)$

۱۱۶۲۶ سوال ۷.۵۲۳: $y = \sec^{-1} 5s$

۱۱۶۲۷ سوال ۷.۵۲۴: $y = \csc^{-1}(x^2+1), \quad x > 0$

۱۱۶۲۸ سوال ۷.۵۲۵: $y = \csc^{-1}\frac{x}{2}$

۱۱۶۲۹ سوال ۷.۵۲۶: $y = \sec^{-1}\frac{1}{t}, \quad 0 < t < 1$

۱۱۶۳۰ سوال ۷.۵۲۷: $y = \sin^{-1}\frac{3}{t^2}$

۱۱۶۳۱ سوال ۷.۵۲۸: $y = \cot^{-1}\sqrt{t}$

۱۱۶۳۲ سوال ۷.۵۲۹: $y = \cot^{-1}\sqrt{t-1}$

۱۱۶۳۳ سوال ۷.۵۳۰: $y = \ln(\tan^{-1} x)$

۱۱۶۳۴ سوال ۷.۵۳۱: $y = \tan^{-1}(\ln x)$

سوال ۷.۵۳۲: $y = \csc^{-1}(e^t)$

سوال ۷.۵۳۳: $y = \cos^{-1}(e^{-t})$

سوال ۷.۵۳۴: $y = s\sqrt{1-s^2} + \cos^{-1} s$

سوال ۷.۵۳۵: $y = \sqrt{s^2-1} - \sec^{-1} s$

سوال ۷.۵۳۶: $y = \tan^{-1}\sqrt{x^2-1} + \csc^{-1} x, \quad x > 1$

سوال ۷.۵۳۷: $y = \cot^{-1}\frac{1}{x} - \tan^{-1} x$

سوال ۷.۵۳۸: $y = x\sin^{-1} x + \sqrt{1-x^2}$

سوال ۷.۵۳۹: $y = \ln(x^2+4) - x\tan^{-1}(\frac{x}{2})$

تکمل کا حل

سوال ۷.۵۴۰ تا سوال ۷.۵۶۳ میں تکمل حل کریں۔

سوال ۷.۵۴۰: $\int \frac{dx}{\sqrt{9-x^2}}$

سوال ۷.۵۴۱: $\int \frac{dx}{\sqrt{1-4x^2}}$

سوال ۷.۵۴۲: $\int \frac{dx}{17+x^2}$

سوال ۷.۵۴۳: $\int \frac{dx}{9+3x^2}$

سوال ۷.۵۴۴: $\int \frac{dx}{x\sqrt{25x^2-2}}$

سوال ۷.۵۴۵: $\int \frac{dx}{x\sqrt{5x^2-4}}$

سوال ۷.۵۴۶: $\int_0^1 \frac{4\,ds}{\sqrt{4-s^2}}$

سوال ۷.۵۴۷: $\int_0^{\frac{3\sqrt{2}}{4}} \frac{ds}{\sqrt{9-4s^2}}$

سوال ۷.۵۴۸: $\int_0^2 \frac{dt}{8+2t^2}$

سوال ۷.۵۴۹: $\int_{-2}^2 \frac{dt}{4+3t^2}$

سوال ۷.۵۵۰: $\int_{-1}^{-\frac{\sqrt{2}}{2}} \frac{dy}{y\sqrt{4y^2-1}}$

۱۱۲۵۷ سوال ۷.۵۵۱: $\int_{-\frac{2}{3}}^{-\frac{\sqrt{2}}{3}} \frac{\mathrm{d}y}{y\sqrt{9y^2-1}}$

۱۱۲۵۸ سوال ۷.۵۵۲: $\int \frac{3\,\mathrm{d}r}{\sqrt{1-4(r-1)^2}}$

۱۱۲۵۹ سوال ۷.۵۵۳: $\int \frac{6\,\mathrm{d}r}{\sqrt{4-(r+1)^2}}$

۱۱۲۶۰ سوال ۷.۵۵۴: $\int \frac{\mathrm{d}x}{2+(x-1)^2}$

۱۱۲۶۱ سوال ۷.۵۵۵: $\int \frac{\mathrm{d}x}{1+(3x+1)^2}$

۱۱۲۶۲ سوال ۷.۵۵۶: $\int \frac{\mathrm{d}x}{(2x-1)\sqrt{(2x-1)^2-4}}$

۱۱۲۶۳ سوال ۷.۵۵۷: $\int \frac{\mathrm{d}x}{(x+3)\sqrt{(x+3)^2-25}}$

۱۱۲۶۴ سوال ۷.۵۵۸: $\int_{-\pi/2}^{\pi/2} \frac{2\cos\theta\,\mathrm{d}\theta}{1+(\sin\theta)^2}$

۱۱۲۶۵ سوال ۷.۵۵۹: $\int_{\pi/6}^{\pi/4} \frac{\csc^2 x\,\mathrm{d}x}{1+(\cot x)^2}$

۱۱۲۶۶ سوال ۷.۵۶۰: $\int_0^{\ln\sqrt{3}} \frac{e^x\,\mathrm{d}x}{1+e^{2x}}$

۱۱۲۶۷ سوال ۷.۵۶۱: $\int_1^{e^{\pi/4}} \frac{4\,\mathrm{d}t}{t(1+\ln^2 t)}$

۱۱۲۶۸ سوال ۷.۵۶۲: $\int \frac{y\,\mathrm{d}y}{\sqrt{1-y^4}}$

۱۱۲۶۹ سوال ۷.۵۶۳: $\int \frac{\sec^2 y\,\mathrm{d}y}{\sqrt{1-\tan^2 y}}$

۱۱۲۷۰ **تکمل کا حل**

۱۱۲۷۱ سوال ۷.۵۶۴ تا سوال ۷.۵۷۳ حل کریں۔

۱۱۲۷۲ سوال ۷.۵۶۴: $\int \frac{\mathrm{d}x}{\sqrt{-x^2+4x-3}}$

۱۱۲۷۳ سوال ۷.۵۶۵: $\int \frac{\mathrm{d}x}{\sqrt{2x-x^2}}$

۱۱۲۷۴ سوال ۷.۵۶۶: $\int_{-1}^{0} \frac{6\,\mathrm{d}t}{\sqrt{3-2t-t^2}}$

۱۱۲۷۵ سوال ۷.۵۶۷: $\int_{1/2}^{1} \frac{6\,\mathrm{d}t}{\sqrt{3+4t-4t^2}}$

۱۱۲۷۶ سوال ۷.۵۶۸: $\int \frac{\mathrm{d}y}{y^2-2y+5}$

۱۱۲۷۷ سوال ۷.۵۶۹: $\int \frac{\mathrm{d}y}{y^2+6y+10}$

۱۱۲۷۸ سوال ۷.۵۷۰: $\int_1^2 \frac{8\,\mathrm{d}x}{x^2-2x+2}$

۱۱۲۷۹ سوال ۷.۵۷۱: $\int_2^4 \frac{2\,\mathrm{d}x}{x^2-6x+10}$

۱۱۲۸۰ سوال ۷.۵۷۲: $\int \frac{\mathrm{d}x}{(x+1)\sqrt{x^2+2x}}$

۱۱۲۸۱ سوال ۷.۵۷۳: $\int \frac{\mathrm{d}x}{(x-2)\sqrt{x^2-4x+3}}$

۱۱۲۸۲ سوال ۷.۵۷۴ تا سوال ۷.۵۸۱ میں دیے گئے تکمل حل کریں۔

۱۱۲۸۳ سوال ۷.۵۷۴: $\int \frac{e^{\sin^{-1} x}\,\mathrm{d}x}{\sqrt{1-x^2}}$

۱۱۲۸۴ سوال ۷.۵۷۵: $\int \frac{e^{\cos^{-1} x}\,\mathrm{d}x}{\sqrt{1-x^2}}$

۱۱۲۸۵ سوال ۷.۵۷۶: $\int \frac{(\sin^{-1} x)^2\,\mathrm{d}x}{\sqrt{1-x^2}}$

۱۱۲۸۶ سوال ۷.۵۷۷: $\int \frac{\sqrt{\tan^{-1} x}\,\mathrm{d}x}{1+x^2}$

۱۱۲۸۷ سوال ۷.۵۷۸: $\int \frac{\mathrm{d}y}{(\tan^{-1} y)(1+y^2)}$

۱۱۲۸۸ سوال ۷.۵۷۹: $\int \frac{\mathrm{d}y}{(\sin^{-1} y)\sqrt{1-y^2}}$

۱۱۲۸۹ سوال ۷.۵۸۰: $\int_{\sqrt{2}}^2 \frac{\sec^2(\sec^{-1} x)\,\mathrm{d}x}{x\sqrt{x^2-1}}$

۱۱۲۹۰ سوال ۷.۵۸۱: $\int \frac{\cos(\sec^{-1} x)\,\mathrm{d}x}{x\sqrt{x^2-1}}$

۱۱۲۹۱ **حد**

۱۱۲۹۲ سوال ۷.۵۸۲ تا سوال ۷.۵۸۵ میں حد تلاش کریں۔

۱۱۲۹۳ سوال ۷.۵۸۲: $\lim_{x\to 0} \frac{\sin^{-1} 5x}{x}$

۱۱۲۹۴ سوال ۷.۵۸۳: $\lim_{x\to 1^+} \frac{\sqrt{x^2-1}}{\sec^{-1} x}$

۱۱۲۹۵ سوال ۷.۵۸۴: $\lim_{x\to\infty} x\tan^{-1}\frac{2}{x}$

۱۱۲۹۶ سوال ۷.۵۸۵: $\lim_{x\to 0} \frac{2\tan^{-1} 3x^2}{7x^2}$

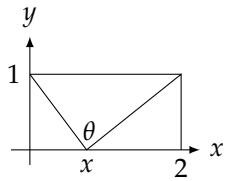

شکل ۷.۵۸: برائے سوال ۷.۵۹۵

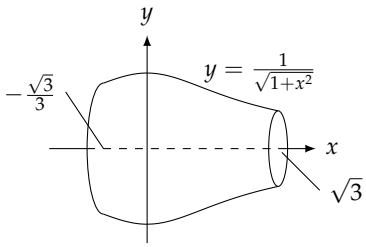

شکل ۷.۵۹: برائے سوال ۷.۶۰۶

کلیات تکمل

سوال ۷.۵۸۶ تا سوال ۷.۵۸۹ میں دیے گئے تکمل کے کلیات کی تصدیق کریں۔

سوال ۷.۵۸۶: $\int \frac{\tan^{-1} x}{x^2}\,\mathrm{d}x = \ln x - \frac{1}{2}\ln(1+x^2) - \frac{\tan^{-1} x}{x} + C$

سوال ۷.۵۸۷: $\int x^3 \cos^{-1} 5x\,\mathrm{d}x = \frac{x^4}{4}\cos^{-1} 5x + \frac{5}{4}\int \frac{x^4\,\mathrm{d}x}{\sqrt{1-25x^2}}$

سوال ۷.۵۸۸: $\int (\sin^{-1} x)^2\,\mathrm{d}x = x(\sin^{-1} x)^2 - 2x + 2\sqrt{1-x^2}\sin^{-1} x + C$

سوال ۷.۵۸۹: $\int \ln(a^2+x^2)\,\mathrm{d}x = x\ln(a^2+x^2) - 2x + 2a\tan^{-1}\frac{x}{a} + C$

ابتدائی قیمت مسائل

سوال ۷.۵۹۰ تا سوال ۷.۵۹۳ میں دیے گئے ابتدائی قیمت مسائل حل کریں

سوال ۷.۵۹۰: $\frac{\mathrm{d}y}{\mathrm{d}x} = \frac{1}{\sqrt{1-x^2}}, \quad y(0) = 0$

سوال ۷.۵۹۱: $\frac{\mathrm{d}y}{\mathrm{d}x} = \frac{1}{x^2+1} - 1, \quad y(0) = 1$

سوال ۷.۵۹۲: $\frac{\mathrm{d}y}{\mathrm{d}x} = \frac{1}{x\sqrt{x^2-1}}, \quad x > 1, y(2) = \pi$

سوال ۷.۵۹۳: $\frac{\mathrm{d}y}{\mathrm{d}x} = \frac{1}{1+x^2} - \frac{2}{\sqrt{1-x^2}}, \quad y(0) = 2$

نظریہ اور مثالیں

سوال ۷.۵۹۴: تدریسی کمرہ (سوال ۷.۴۹۸)

آپ اپنی کرسی کو تختہ سیاہ سے اتنی دور رکھنا چاہتے ہو کہ آپ کا دیکھنے کا زاویہ α زیادہ سے زیادہ ہو۔ آپ کی کرسی تختہ سیاہ سے کتنی دور ہونی چاہیے؟

سوال ۷.۵۹۵: متغیر x کو کونسی قیمت شکل ۷.۵۸ میں θ کو بڑے سے بڑا بناتی ہے؟ θ کی بڑی سے بڑی قیمت تلاش کریں۔ شروع اس سے کریں کہ $\theta = \pi - \cot^{-1} x - \cot^{-1}(2-x)$ ہوگا۔

۱۱۷۱۴ سوال ۷.۵۹۶: کیا درج ذیل تکمل-ا اور تکمل-ب دونوں درست ہو سکتے ہیں۔ اپنے جواب کی وجہ پیش کریں۔

$$\int \frac{\mathrm{d}x}{\sqrt{1-x^2}} = \sin^{-1} x + C \qquad (\text{ا})$$

$$\int \frac{\mathrm{d}x}{\sqrt{1-x^2}} = -\int -\frac{\mathrm{d}x}{\sqrt{1-x^2}} = -\cos^{-1} x + C \qquad (\text{ب})$$

۱۱۷۱۵ سوال ۷.۵۹۷: کیا درج ذیل دونوں تکمل درست ہو سکتے ہیں؟ اپنی جواب کی وجہ پیش کریں۔

$$\int \frac{\mathrm{d}x}{\sqrt{1-x^2}} = -\int -\frac{\mathrm{d}x}{\sqrt{1-x^2}} = -\cos^{-1} x + C$$

$$\begin{aligned}
\int \frac{\mathrm{d}x}{\sqrt{1-x^2}} &= \int \frac{-\mathrm{d}u}{\sqrt{1-(-u)^2}} \qquad x = -u \\
&= \int \frac{-\mathrm{d}u}{\sqrt{1-u^2}} \\
&= \cos^{-1} u + C \\
&= \cos^{-1}(-x) + C
\end{aligned}$$

۱۱۷۱۶ سوال ۷.۵۹۸: درج ذیل تماثل استعمال کرتے ہوئے مساوات ۱ سے مساوات ۲ اخذ کریں۔

$$\cos^{-1} u = \frac{\pi}{2} - \sin^{-1} u$$

۱۱۷۱۷ سوال ۷.۵۹۹: درج ذیل تماثل استعمال کرتے ہوئے مساوات ۴ سے مساوات ۳ اخذ کریں۔

$$\cot^{-1} u = \frac{\pi}{2} - \tan^{-1} u$$

۱۱۷۱۸ سوال ۷.۶۰۰: درج ذیل تماثل استعمال کرتے ہوئے مساوات ۵ سے مساوات ۶ اخذ کریں۔

$$\csc^{-1} u = \frac{\pi}{2} - \sec^{-1} u$$

۱۱۷۱۹ سوال ۷.۶۰۱: تفاعل $y = \tan^{-1} x$ کا تفرق

$$\frac{\mathrm{d}y}{\mathrm{d}x} = \frac{1}{1+x^2}$$

۱۱۷۲۰ حاصل کرنے کی خاطر x کے لحاظ سے اس کے مساوی $\tan y = x$ کے دونوں اطراف کا تفرق لیں۔

سوال ۷.۶۰۲: درج ذیل تفرق کو مسئلہ ۷.۱ کی مدد سے اخذ کریں۔

$$\frac{\mathrm{d}}{\mathrm{d}x}\sin^{-1}x = \frac{1}{\sqrt{1-x^2}}, \quad -1 < x < 1$$

سوال ۷.۶۰۳: درج ذیل تفرق کو مسئلہ ۷.۱ کی مدد سے اخذ کریں۔

$$\frac{\mathrm{d}}{\mathrm{d}x}\tan^{-1}x = \frac{1}{1+x^2}$$

سوال ۷.۶۰۴: درج ذیل دو تفاعل میں کیا خاصیت پائی جاتی ہے؟ اس پر تبصرہ کریں۔

$$f(x) = \sin^{-1}\frac{x-1}{x+1},\ x \geq 0 \quad \text{اور} \quad g(x) = 2\tan^{-1}\sqrt{x}$$

سوال ۷.۶۰۵: درج ذیل دو تفاعل میں کیا خاصیت پائی جاتی ہے؟ اس پر تبصرہ کریں۔

$$f(x) = \sin^{-1}\frac{1}{\sqrt{x^2+1}} \quad \text{اور} \quad g(x) = \tan^{-1}\frac{1}{x}$$

سوال ۷.۶۰۶: محور x پر $x = -\frac{\sqrt{3}}{3}$ تا $x = \sqrt{3}$ کے بیچ تفاعل $y = \frac{1}{\sqrt{1+x^2}}$ کو محور x کے گرد گھما کر ٹھوس جسم طواف پیدا کیا جاتا ہے (شکل ۷.۵۹)۔ اس جسم کا حجم تلاش کریں۔

سوال ۷.۶۰۷: قوس $y = \sqrt{1-x^2},\ -\frac{1}{2} \leq x \leq \frac{1}{2}$ کی لمبائی دریافت کریں۔

کتلا سے حجم کی تلاش

سوال ۷.۶۰۸ اور سوال ۷.۶۰۹ میں اجسام کی حجم تلاش کریں۔

سوال ۷.۶۰۸: نقطہ $x = -1$ اور $x = 1$ پر محور x کے عمودی چادروں کے بیچ ٹھوس جسم پایا جاتا ہے۔ محور x کے عمودی جسم کا رقبہ عمودی تراش درج ذیل ہے۔

ا. دائری رقبہ عمودی تراش کے قطر، منحنی $y = \frac{1}{\sqrt{1+x^2}}$ سے منحنی $y = -\frac{1}{1+x^2}$ تک ہیں۔

ب. رقبہ عمودی تراش مربع شکل کا ہے جس کے کونے $y = -\frac{1}{\sqrt{1+x^2}}$ اور $y = \frac{1}{\sqrt{1+x^2}}$ کو مس کرتے ہیں۔

سوال ۷.۶۰۹: نقطہ $x = -\frac{\sqrt{2}}{2}$ اور $x = \frac{\sqrt{2}}{2}$ پر محور x کے عمودی چادروں کے بیچ ٹھوس جسم پایا جاتا ہے۔ محور x کے عمودی جسم کا رقبہ عمودی تراش درج ذیل ہے۔

ا. دائری رقبہ عمودی تراش کے قطر، محور x سے منحنی $y = \frac{2}{\sqrt[4]{1-x^2}}$ تک ہیں۔

ب. رقبہ عمودی تراش مربع شکل کا ہے جس کے وتر محور x سے منحنی $y = \frac{2}{\sqrt[4]{1-x^2}}$ تک ہیں۔

کیلکولیٹر اور کمپیوٹر کا استعمال

سوال ۷.۶۱۰: کیلکولیٹر

اعدادی تراکیب سے درج ذیل قیمت تلاش کریں۔ حوالہ کے لئے 5 مقامات تک درست قیمت $\sin^{-1} 0.6 = 0.643\,50$ ہے۔

$$\sin^{-1} 0.6 = \int_0^{0.6} \frac{\mathrm{d}x}{\sqrt{1-x^2}}$$

سوال ۷.۶۱۱: اعدادی تراکیب سے درج ذیل قیمت تلاش کریں۔

$$\pi = 4 \int_0^1 \frac{\mathrm{d}x}{1+x^2}$$

سوال ۷.۶۱۲: تفاعل $f(x) = \sin^{-1} x$ اور اس کے ابتدائی دو تفرق کو ایک ساتھ ترسیم کریں۔ f' اور f'' کی قیمتوں اور علامتوں کے لحاظ سے f کے رویہ اور اس کی ترسیم کی صورت پر تبصرہ کریں۔

سوال ۷.۶۱۳: تفاعل $f(x) = \tan^{-1} x$ اور اس کے ابتدائی دو تفرق کو ایک ساتھ ترسیم کریں۔ f' اور f'' کی قیمتوں اور علامتوں کے لحاظ سے f کے رویہ اور اس کی ترسیم کی صورت پر تبصرہ کریں۔

۷.۱۰ ہذلولی تفاعل

ہر ایسا تفاعل f جس کے دائرہ کار کا وسط مبدا پر واقع ہو کو ایک جفت اور ایک طاق تفاعل کا مجموعہ لکھا جا سکتا ہے:

$$f(x) = \underbrace{\frac{f(x)+f(-x)}{2}}_{\text{جفت حصہ}} + \underbrace{\frac{f(x)-f(-x)}{2}}_{\text{طاق حصہ}}$$

یوں قوت نمائی تفاعل e^x کو درج ذیل لکھا جا سکتا ہے۔

$$e^x = \underbrace{\frac{e^x+e^{-x}}{2}}_{\text{جفت حصہ}} + \underbrace{\frac{e^x-e^{-x}}{2}}_{\text{طاق حصہ}}$$

قوت نمائی تفاعل e^x کا جفت اور طاق حصہ، جنہیں بالترتیب x کا ہذلولی کوسائن اور ہذلولی سائن کہتے ہیں، از خود اہمیت کے حامل ہیں۔ یہ لچکدار ٹھوس مادہ میں لہروں کی حرکت، کھمبوں کے بیچ برقی تاروں کا روپ، اور دھاتی **سرد کار**[۲۶] میں حرارتی کی تقسیم کو بیان کرتے ہیں۔

---

[۲۶] heatsink

جدول ۷.۷: چھ بنیادی ہذلولی تفاعل

$\cosh = \dfrac{e^x + e^{-x}}{2}$	x کا ہذلولی کوسائن
$\sinh x = \dfrac{e^x - e^{-x}}{2}$	x کا ہذلولی سائن
$\tanh x = \dfrac{\sinh x}{\cosh x} = \dfrac{e^x - e^{-x}}{e^x + e^{-x}}$	x کا ہذلولی ٹینجنٹ
$\coth x = \dfrac{\cosh x}{\sinh x} = \dfrac{e^x + e^{-x}}{e^x - e^{-x}}$	x کا ہذلولی کوٹینجنٹ
$\operatorname{sech} x = \dfrac{1}{\cosh x} = \dfrac{2}{e^x + e^{-x}}$	x کا ہذلولی سیکنٹ
$\operatorname{csch} x = \dfrac{1}{\sinh x} = \dfrac{2}{e^x - e^{-x}}$	x کا ہذلولی کوسیکنٹ

تعریف اور تماثل

ہذلولی کوسائن اور ہذلولی سائن کی تعریف جدول ۷.۷ کی پہلی دو مساواتیں پیش کرتی ہیں۔ اس جدول میں ہذلولی ٹینجنٹ، ہذلولی کوٹینجنٹ، ہذلولی سیکنٹ، اور ہذلولی کوسیکنٹ کی تعریف بھی پیش کی گئی ہیں۔ جیسا کہ ہم دیکھیں گے، ہذلولی تفاعل ان تکونیاتی تفاعل کے ساتھ کافی ملتے جلتے ہیں جن کے توسط سے ان کے نام رکھے گئے ہیں (سوال ۷.۶۹۹)۔ ہذلولی تفاعل کو شکل ۷.۶۰ میں ترسیم کیا گیا ہے۔

تماثل

ہذلولی تفاعل جدول ۷.۸ میں دی گئی تماثل کو مطمئن کرتے ہیں۔ ماسوائے علامت، ہم ان تماثل کو تکونیاتی تفاعل سے جانتے ہیں۔

تفرق اور تکمل

چھ بنیادی ہذلولی تفاعل، قابل تفرق تفاعل e^x اور e^{-x} کے ناطق مجموعے ہیں، لہٰذا یہ ہر اس نقطہ پر قابل تفرق ہوں گے جس پر یہ معین ہوں۔ یہاں بھی تکونیاتی تفاعل کے ساتھ مشابہت نظر آتی ہے۔ جدول ۷.۹-اکے کلیات تفرق سے جدول ۷.۹-ب کے کلیات تکمل حاصل ہوتے ہیں۔ تکونیاتی تفاعل کی طرح ہذلولی تفاعل کی قیمتوں کو بھی کیلکولیٹر سے حاصل کیا جا سکتا ہے۔

مثال ۷.۶۹:

$$\begin{aligned}\frac{\mathrm{d}}{\mathrm{d}t}(\tanh\sqrt{1+t^2}) &= \operatorname{sech}^2\sqrt{1+t^2}\cdot\frac{\mathrm{d}}{\mathrm{d}t}(\sqrt{1+t^2})\\ &= \frac{t}{\sqrt{1+t^2}}\operatorname{sech}^2\sqrt{1+t^2}\end{aligned}$$

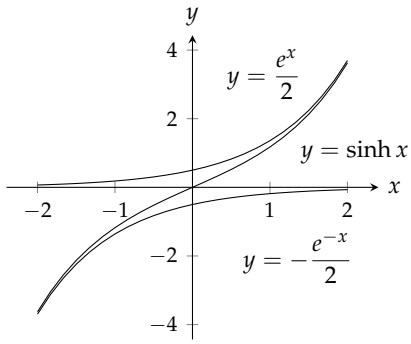

(ا) ہذلولی سائن اور اس کے قوت نما اجزاء۔

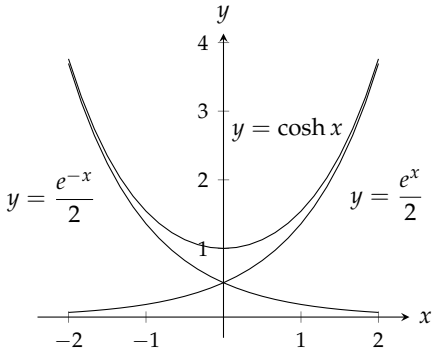

(ب) ہذلولی کوسائن اور اس کے قوت نما اجزاء۔

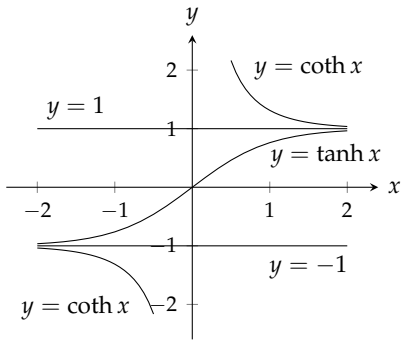

(ج) ہذلولی ٹینجنٹ اور ہذلولی کوٹینجنٹ۔

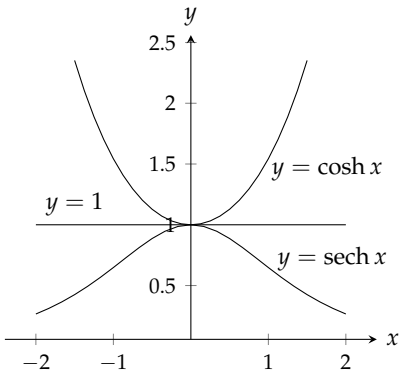

(د) ہذلولی کوسائن اور ہذلولی سیکنٹ۔

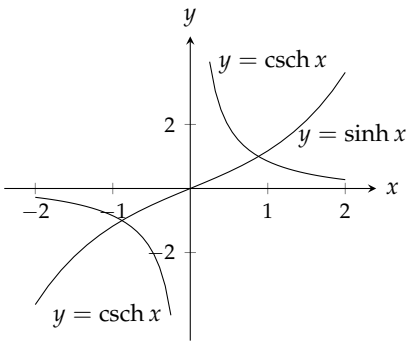

(ھ) ہذلولی سائن اور ہذلولی کوسیکنٹ۔

شکل ۷.۶۰: چھ بنیادی ہذلولی تفاعل۔

جدول ۷.۸: ہذلولی تفاعل کے تماثل۔

$\sinh 2x = 2\sinh x \cosh x$
$\cosh 2x = \cosh^2 x + \sinh^2 x$
$\cosh^2 x = \dfrac{\cosh 2x + 1}{2}$
$\sinh^2 x = \dfrac{\cosh 2x - 1}{2}$
$\cosh^2 x - \sinh^2 = 1$
$\tanh^2 x = 1 - \operatorname{sech}^2 x$
$\coth^2 x = 1 + \operatorname{csch}^2 x$

جدول ۷.۹: ہذلولی تفاعل کے کلیات تفرق اور کلیات تکمل۔

(ا) ہذلولی تفاعل کے تفرق۔	(ب) ہذلولی تفاعل کے تکمل۔
$\frac{\mathrm{d}}{\mathrm{d}x}(\sinh u) = \cosh u \frac{\mathrm{d}u}{\mathrm{d}x}$	$\frac{\mathrm{d}}{\mathrm{d}x}(\sinh u) = \cosh u \frac{\mathrm{d}u}{\mathrm{d}x}$
$\frac{\mathrm{d}}{\mathrm{d}x}(\cosh u) = \sinh u \frac{\mathrm{d}u}{\mathrm{d}x}$	$\frac{\mathrm{d}}{\mathrm{d}x}(\cosh u) = \sinh u \frac{\mathrm{d}u}{\mathrm{d}x}$
$\frac{\mathrm{d}}{\mathrm{d}x}(\tanh u) = \operatorname{sech}^2 u \frac{\mathrm{d}u}{\mathrm{d}x}$	$\frac{\mathrm{d}}{\mathrm{d}x}(\tanh u) = \operatorname{sech}^2 u \frac{\mathrm{d}u}{\mathrm{d}x}$
$\frac{\mathrm{d}}{\mathrm{d}x}(\coth u) = -\operatorname{csch}^2 u \frac{\mathrm{d}u}{\mathrm{d}x}$	$\frac{\mathrm{d}}{\mathrm{d}x}(\coth u) = -\operatorname{csch}^2 u \frac{\mathrm{d}u}{\mathrm{d}x}$
$\frac{\mathrm{d}}{\mathrm{d}x}(\operatorname{sech} u) = -\operatorname{sech} u \tanh u \frac{\mathrm{d}u}{\mathrm{d}x}$	$\frac{\mathrm{d}}{\mathrm{d}x}(\operatorname{sech} u) = -\operatorname{sech} u \tanh u \frac{\mathrm{d}u}{\mathrm{d}x}$
$\frac{\mathrm{d}}{\mathrm{d}x}(\operatorname{csch} u) = -\operatorname{csch} u \coth u \frac{\mathrm{d}u}{\mathrm{d}x}$	$\frac{\mathrm{d}}{\mathrm{d}x}(\operatorname{csch} u) = -\operatorname{csch} u \coth u \frac{\mathrm{d}u}{\mathrm{d}x}$

۱۱۷۶۴ □

۱۱۷۶۵ مثال ۷.۷۰:

$$\int \coth 5x \, \mathrm{d}x = \int \frac{\cosh 5x}{\sinh 5x} \, \mathrm{d}x = \frac{1}{5} \int \frac{\mathrm{d}u}{u} \qquad u = \sinh 5x$$
$$= \frac{1}{5} \ln|u| + C = \frac{1}{5} \ln|\sinh 5x| + C$$

۱۱۷۶۶ □

۱۱۷۶۷ مثال ۷.۷۱:

$$\int_0^1 \sinh^2 x \, \mathrm{d}x = \int_0^1 \frac{\cosh 2x - 1}{2} \, \mathrm{d}x$$
$$= \frac{1}{2} \int_0^1 (\cosh 2x - 1) \, \mathrm{d}x = \frac{1}{2} \left[\frac{\sinh 2x}{2} - x \right]_0^1$$
$$= \frac{\sinh 2}{4} - \frac{1}{2} \approx 0.406\,72$$

جدول ۷.۸

۱۱۷۶۸ □

۱۱۷۶۹ مثال ۷.۷۲:

$$\int_0^{\ln 2} 4e^x \sinh x \, \mathrm{d}x = \int_0^{\ln 2} 4e^x \frac{e^x - e^{-x}}{2} \, \mathrm{d}x = \int_0^{\ln 2} (2e^{2x} - 2) \, \mathrm{d}x$$
$$= \left[e^{2x} - 2x \right]_0^{\ln 2} = (e^{2\ln 2} - 2\ln 2) - (1 - 0)$$
$$= 4 - 2\ln 2 - 1$$
$$\approx 1.6137$$

۱۱۷۷۰ □

۱۱۷۷۱ **الٹ ہذلولی تفاعل**

۱۱۷۷۲ ہم چھ بنیادی ہذلولی تفاعل کو تکمل میں استعمال کرتے ہیں۔ چونکہ $\frac{\mathrm{d}}{\mathrm{d}x}(\sinh x) = \cosh x > 0$ لہٰذا x کے لحاظ سے ہذلولی سائن بڑھتا
۱۱۷۷۳ تفاعل ہے۔ ہم اس کے الٹ کو درج ذیل سے ظاہر کرتے ہیں۔

$$y = \sinh^{-1} x$$

جدول ۷.۱۰: الٹ ہذلولی تفاعل کے چند کارآمد تماثل

$\operatorname{sech}^{-1} x = \cosh^{-1} \frac{1}{x}$
$\operatorname{csch}^{-1} x = \sinh^{-1} \frac{1}{x}$
$\coth^{-1} x = \tanh^{-1} \frac{1}{x}$

وقفہ $-\infty < x < \infty$ میں ہر x کے لئے $y = \sinh^{-1} x$ کی قیمت وہ ہو گی جس کے ہذلولی سائن کی قیمت x ہو۔ تفاعل $y = \sinh x$ اور $y = \sinh^{-1} x$ کے ترسیمات کو شکل ۷.۶۱-امیں پیش کیا گیا ہے۔

جیسا آپ شکل ۷.۶۰-ب میں دیکھ سکتے ہیں، تفاعل $y = \cosh x$ ایک ایک نہیں ہے۔ البتہ اس کی پابند شدہ روپ $y = \cosh x,\ x \geq 0$ ایک ایک ہے لہٰذا اس کا الٹ پایا جائے گا جس کو درج ذیل سے ظاہر کیا جاتا ہے۔

$$y = \cosh^{-1} x$$

متغیر $x \geq 1$ کے ہر قیمت کے لئے وقفہ $0 \leq y \leq \infty$ میں $y = \cosh^{-1} x$ ایک ایسا عدد ہو گا جس کے ہذلولی کوسائن کی قیمت x ہو گی۔ تفاعل $y = \cosh x,\ x \geq 0$ اور $y = \cosh^{-1} x$ کی ترسیمات کو شکل ۷.۶۱-ب میں دکھایا گیا ہے۔

تفاعل $y = \cosh x$ کی طرح $y = \operatorname{sech} x = \frac{1}{\cosh x}$ بھی ایک ایک نہیں ہے، البتہ x کو غیر منفی قیمتوں پر پابند کرنے سے $y = \operatorname{sech} x$ ایک ایک ہوتا ہے جس کا الٹ پایا جائے گا۔ اس الٹ کو

$$y = \operatorname{sech}^{-1} x$$

سے ظاہر کیا جاتا ہے۔ وقفہ $(0, 1]$ میں x کی ہر قیمت کے لئے $y = \operatorname{sech}^{-1} x$ وہ عدد ہو گا جس کا الٹ ہذلولی سیکنٹ x ہو گا۔

ہذلولی کوسیکنٹ، ہذلولی ٹینجنٹ اور ہذلولی کوٹینجنٹ اپنے اپنے دائرہ کار پر ایک ایک ہیں لہٰذا ان کے الٹ پائے جائیں گے جنہیں

$$y = \operatorname{csch}^{-1} x, \quad y = \tanh^{-1} x, \quad y = \coth^{-1} x$$

سے ظاہر کیا گیا ہے کو شکل ۷.۶۱-د، ہ، و میں ترسیم کیا گیا ہے۔

کارآمد تماثل

چند کارآمد تماثل کو جدول ۷.۱۰ میں پیش کیا گیا ہے۔ تفاعل $\cosh^{-1} x$ ، $\sinh^{-1} x$ اور $\tanh^{-1} x$ کی قیمتیں جانتے ہوئے ان تماثل کے استعمال سے $\operatorname{sech}^{-1} x$ ، $\operatorname{csch}^{-1} x$ اور $\coth^{-1} x$ کی قیمتیں حاصل کی جا سکتی ہیں۔

الٹ ہذلولی تفاعل کے تفرق اور تکمل

الٹ ہذلولی تفاعل کا اہم ترین استعمال، تکمل کے ذریعہ جدول ۷.۱۱ میں کلیات تفرق سے کلیات تکمل کا حصول ہے۔

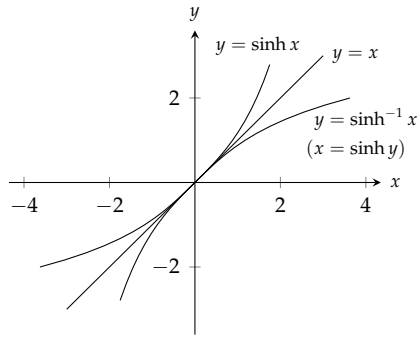

(ا) ہذلولی سائن اور الٹ ہذلولی سائن کے ترسیمات۔ یہ دونوں لکیر $y = x$ کے لحاظ سے تشاکلی ہیں۔

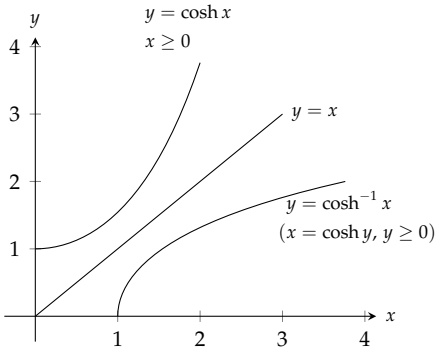

(ب) ہذلولی کوسائن اور الٹ ہذلولی کوسائن کے ترسیمات۔ یہ دونوں لکیر $y = x$ کے لحاظ سے تشاکلی ہیں۔

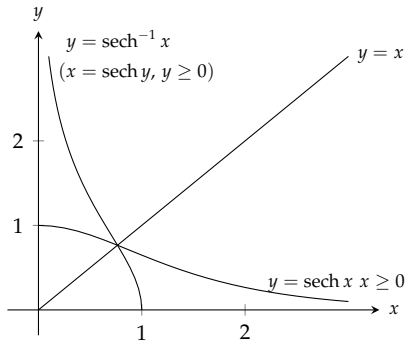

(ج) ہذلولی سیکنٹ اور الٹ ہذلولی سیکنٹ کے ترسیمات۔ یہ دونوں لکیر $y = x$ کے لحاظ سے تشاکلی ہیں۔

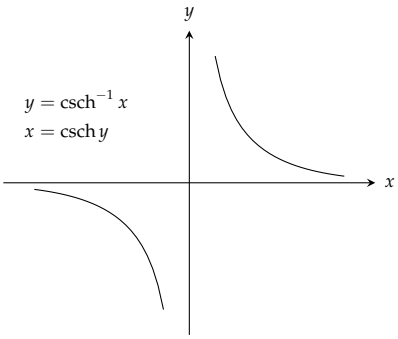

(د) الٹ ہذلولی کوسیکنٹ کی ترسیم۔

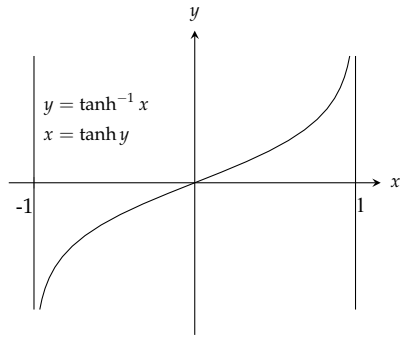

(ھ) الٹ ہذلولی ٹینجنٹ کی ترسیم۔

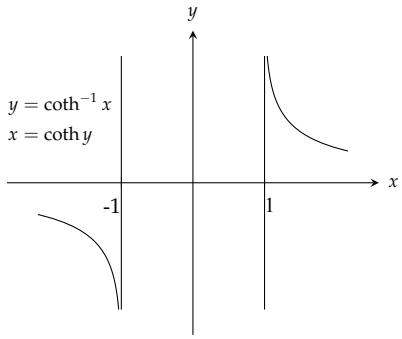

(و) الٹ ہذلولی کوٹینجنٹ کی ترسیم۔

شکل ۷.۶۱: چھ بنیادی ہذلولی تفاعل کے الٹ۔

جدول ۷.۱۱: الٹ ہذلولی تفاعل کے تفرق۔

$\frac{\mathrm{d}(\sinh^{-1} u)}{\mathrm{d}x} = \frac{1}{\sqrt{1+u^2}}\frac{\mathrm{d}u}{\mathrm{d}x}$	
$\frac{\mathrm{d}(\cosh^{-1} u)}{\mathrm{d}x} = \frac{1}{\sqrt{u^2-1}}\frac{\mathrm{d}u}{\mathrm{d}x},$	$u > 1$
$\frac{\mathrm{d}(\tanh^{-1} u)}{\mathrm{d}x} = \frac{1}{1-u^2}\frac{\mathrm{d}u}{\mathrm{d}x},$	$\lvert u\rvert < 1$
$\frac{\mathrm{d}(\coth^{-1} u)}{\mathrm{d}x} = \frac{1}{1-u^2}\frac{\mathrm{d}u}{\mathrm{d}x},$	$\lvert u\rvert > 1$
$\frac{\mathrm{d}(\mathrm{sech}^{-1} u)}{\mathrm{d}x} = \frac{-1}{u\sqrt{1-u^2}}\frac{\mathrm{d}u}{\mathrm{d}x},$	$0 < u < 1$
$\frac{\mathrm{d}(\mathrm{csch}^{-1} u)}{\mathrm{d}x} = \frac{-1}{\lvert u\rvert\sqrt{1+u^2}}\frac{\mathrm{d}u}{\mathrm{d}x},$	$u \neq 0$

۱۱۷۹۰ تفاعل $\tanh^{-1} u$ اور $\coth^{-1} u$ کے تفرق پر $\lvert u\rvert < a$ اور $\lvert u\rvert > 1$ کی پابندی، ان تفاعل پر پابندی کی وجہ سے ہے (شکل ۷.۶۱-ہ، و
۱۱۷۹۱ دیکھیں)۔ کلیات تفرق کو کلیات تکمل میں تبدیل کرتے وقت $\lvert u\rvert < 1$ اور $\lvert u\rvert > 1$ میں امتیاز اہمیت حاصل کرتا ہے۔ اگر $\lvert u\rvert < 1$ ہو تب
۱۱۷۹۲ $\frac{1}{1-u^2}$ کا تکمل $\tanh^{-1} u + C$ ہوگا۔ اس کے برعکس $\lvert u\rvert > 1$ کی صورت میں تکمل $\coth^{-1} u + C$ ہوگا۔

۱۱۷۹۳ مثال ۷.۷۳: دکھائیں کہ اگر متغیر x کا u قابل تفرق تفاعل ہو اور جس کی قیمتیں 1 سے زیادہ ہوں تب درج ذیل ہوگا۔

$$\frac{\mathrm{d}}{\mathrm{d}x}(\cosh^{-1} u) = \frac{1}{\sqrt{u^2-1}}\frac{\mathrm{d}u}{\mathrm{d}x}$$

۱۱۷۹۴ حل: ہم پہلے عددی x>1 کی صورت میں $y = \cosh^{-1} x$ کا تفرق معلوم کرتے ہیں۔

$$\begin{aligned}
y &= \cosh^{-1} x \\
x &= \cosh y && \text{اس کا مساوی} \\
1 &= \sinh y \frac{\mathrm{d}y}{\mathrm{d}x} && x \text{ کے لحاظ سے تفرق} \\
\frac{\mathrm{d}y}{\mathrm{d}x} &= \frac{1}{\sin y} = \frac{1}{\sqrt{\cosh^2 y - 1}} && x > 0,\ y > 0,\ \sinh y > 0 \\
&= \frac{1}{\sqrt{x^2-1}} && \cosh y = x
\end{aligned}$$

۱۱۷۹۵ یوں $\frac{\mathrm{d}}{\mathrm{d}x}(\cosh^{-1} x) = \frac{1}{\sqrt{x^2-1}}$ ہوگا۔ زنجیری قاعدہ سے درکار نتیجہ ملتا ہے:

$$\frac{\mathrm{d}}{\mathrm{d}x}(\cosh^{-1} u) = \frac{1}{\sqrt{u^2-1}}\frac{\mathrm{d}u}{\mathrm{d}x}$$

جدول ۷.۱۲: وہ تکمل جو الٹ ہذلولی تفاعل دیتے ہیں۔

$\int \frac{\mathrm{d}u}{\sqrt{a^2+u^2}} = \sinh^{-1}\left(\frac{u}{a}\right), \quad a > 0$
$\int \frac{\mathrm{d}u}{\sqrt{u^2-a^2}} = \cosh^{-1}\left(\frac{u}{a}\right), \quad u > a > 0$
$\int \frac{\mathrm{d}u}{a^2-u^2} = \begin{cases} \frac{1}{a}\tanh^{-1}(\frac{u}{a}) + C & u^2 < a^2 \\ \frac{1}{a}\coth^{-1}(\frac{u}{a}) + C & u^2 > a^2 \end{cases}$
$\int \frac{\mathrm{d}u}{u\sqrt{a^2-u^2}} = -\frac{1}{a}\operatorname{sech}^{-1}\left(\frac{u}{a}\right) + C, \quad 0 < u < a$
$\int \frac{\mathrm{d}u}{u\sqrt{a^2+u^2}} = -\frac{1}{a}\operatorname{csch}^{-1}\left\lvert\frac{u}{a}\right\rvert + C, \quad u \neq 0$

□ ۱۱۷۹۶

۱۱۷۹۷ موزوں بدل استعمال کرتے ہوئے جدول ۷.۱۱ میں دیے گئے کلیات تفرق سے جدول ۷.۱۲ کے کلیات تکمل اخذ کیے جا سکتے ہیں۔

۱۱۷۹۸ مثال ۷.۷۴: تکمل $\int_0^1 \frac{2\,\mathrm{d}x}{\sqrt{3+4x^2}}$ کی قیمت دریافت کریں۔

۱۱۷۹۹ حل: قطعی تکمل درج ذیل ہے۔

$$\begin{aligned} \int \frac{2\,\mathrm{d}x}{\sqrt{3+4x^2}} &= \int \frac{\mathrm{d}u}{\sqrt{a^2+u^2}} \qquad u = 2x \\ &= \sinh^{-1}(\tfrac{u}{a}) + C \\ &= \sinh^{-1}(\tfrac{2x}{\sqrt{3}}) + C \end{aligned}$$

۱۱۸۰۰ یوں درج ذیل ہو گا۔

$$\begin{aligned} \int_0^1 \frac{2\,\mathrm{d}x}{\sqrt{3+4x^2}} &= \sinh^{-1}(\tfrac{2x}{\sqrt{3}})\Big]_0^1 = \sinh^{-1}(\tfrac{2}{\sqrt{3}}) - \sinh^{-1}(0) \\ &= \sinh^{-1}(\tfrac{2}{\sqrt{3}}) - 0 \approx 0.986\,65 \end{aligned}$$

□ ۱۱۸۰۱

سوالات

ہذلولی تفاعل کی قیمتیں اور تماثل

سوال ۷.۶۱۴ تا سوال ۷.۶۱۷ میں $\sinh x$ یا $\cosh x$ کی ایک قیمت دی گئی ہے۔ تماثل $\cosh^2 x - \sinh^2 = 1$ اور ہذلولی تفاعل کی تعریف استعمال کرتے ہوئے باقی پانچ ہذلولی تفاعل کی قیمتیں تلاش کریں۔

سوال ۷.۶۱۴: $\sinh x = -\frac{3}{4}$

سوال ۷.۶۱۵: $\sinh x = \frac{4}{3}$

سوال ۷.۶۱۶: $\cosh x = \frac{17}{15}, \quad x > 0$

سوال ۷.۶۱۷: $\cosh x = \frac{13}{5}, \quad x > 0$

سوال ۷.۶۱۸ تا سوال ۷.۶۲۳ میں فقروں کو قوت نما کی روپ میں لکھ کر ان کی سادہ ترین صورت حاصل کریں۔

سوال ۷.۶۱۸: $2\cosh(\ln x)$

سوال ۷.۶۱۹: $\sinh(2\ln x)$

سوال ۷.۶۲۰: $\cosh 5x + \sinh 5x$

سوال ۷.۶۲۱: $\cosh 3x - \sinh 3x$

سوال ۷.۶۲۲: $(\sinh x + \cosh x)^4$

سوال ۷.۶۲۳: $\ln(\cosh x + \sinh x) + \ln(\cosh x - \sinh x)$

سوال ۷.۶۲۴: درج ذیل تماثل

$$\sinh(x+y) = \sinh x \cosh y + \cosh x \sinh y$$
$$\cosh(x+y) = \cosh x \cosh y + \sinh x \sinh y$$

استعمال کرتے ہوئے درج ذیل دکھائیں۔

ا. $\sinh 2x = 2\sinh x \cosh x$

ب. $\cosh 2x = \cosh^2 x + \sinh^2 x$

سوال ۷.۶۲۵: $\cosh x$ اور $\sinh x$ کی تعریف سے درج ذیل کی تصدیق کریں۔

$$\cosh^2 x - \sinh^2 x = 1$$

تفرق

سوال ۷.۶۲۶ تا سوال ۷.۶۳۷ میں y کا تفرق موزوں متغیر کے لحاظ سے تلاش کریں۔

سوال ۷.۶۲۶: $y = 6\sinh\frac{x}{3}$

۱۱۸۲۵ سوال ۷.۶۲۷: $y = \frac{1}{2}\sinh(2x+1)$

۱۱۸۲۶ سوال ۷.۶۲۸: $y = 2\sqrt{t}\tanh\sqrt{t}$

۱۱۸۲۷ سوال ۷.۶۲۹: $y = t^2\tanh\frac{1}{t}$

۱۱۸۲۸ سوال ۷.۶۳۰: $y = \ln(\operatorname{sech} z)$

۱۱۸۲۹ سوال ۷.۶۳۱: $y = \ln(\cosh z)$

۱۱۸۳۰ سوال ۷.۶۳۲: $y = \operatorname{sech}\theta(1 - \ln\operatorname{sech}\theta)$

۱۱۸۳۱ سوال ۷.۶۳۳: $y = \operatorname{csch}\theta(1 - \ln\operatorname{csch}\theta)$

۱۱۸۳۲ سوال ۷.۶۳۴: $y = \ln\cosh v - \frac{1}{2}\tanh^2 v$

۱۱۸۳۳ سوال ۷.۶۳۵: $y = \ln\sinh v - \frac{1}{2}\coth v$

۱۱۸۳۴ سوال ۷.۶۳۶: $y = (x^2+1)\operatorname{sech}(\ln x)$ اشارہ: تفرق سے پہلے قوت نما روپ میں لکھ کر سادہ صورت حاصل کریں۔

۱۱۸۳۵ سوال ۷.۶۳۷: $y = (4x^2-1)\operatorname{csch}(\ln 2x)$

۱۱۸۳۶ سوال ۷.۶۳۸ تا سوال ۷.۶۴۹ میں y کا تفرق موزوں متغیر کے لحاظ سے حاصل کریں۔

۱۱۸۳۷ سوال ۷.۶۳۸: $y = \sinh^{-1}\sqrt{x}$

۱۱۸۳۸ سوال ۷.۶۳۹: $y = \cosh^{-1} 2\sqrt{x+1}$

۱۱۸۳۹ سوال ۷.۶۴۰: $y = (1-\theta)\tanh^{-1}\theta$

۱۱۸۴۰ سوال ۷.۶۴۱: $y = (\theta^2+2\theta)\tanh^{-1}(\theta+1)$

۱۱۸۴۱ سوال ۷.۶۴۲: $y = (1-t)\coth^{-1}\sqrt{t}$

۱۱۸۴۲ سوال ۷.۶۴۳: $y = (1-t^2)\coth^{-1} t$

۱۱۸۴۳ سوال ۷.۶۴۴: $y = \cos^{-1} x - x\operatorname{sech}^{-1} x$

۱۱۸۴۴ سوال ۷.۶۴۵: $y = \ln x + \sqrt{1-x^2}\operatorname{sech}^{-1} x$

۱۱۸۴۵ سوال ۷.۶۴۶: $y = \operatorname{csch}^{-1}(\frac{1}{2})^\theta$

۱۱۸۴۶ سوال ۷.۶۴۷: $y = \operatorname{csch}^{-1} 2^\theta$

۱۱۸۴۷ سوال ۷.۶۴۸: $y = \sinh^{-1}(\tan x)$

۱۱۸۴۸ سوال ۷.۶۴۹: $y = \cosh^{-1}(\sec x), \quad 0 < x < \frac{\pi}{2}$

۱۱۸۴۹

کلیات تکمل

سوال ۷.۶۵۰ تا سوال ۷.۶۵۳ میں دیے کلیات تکمل کی تصدیق کریں۔

سوال ۷.۶۵۰:

$$\int \operatorname{sech} x \, \mathrm{d}x = \tan^{-1}(\sinh x) + C$$

$$\int \operatorname{sech} x \, \mathrm{d}x = \sin^{-1}(\tanh x) + C$$

سوال ۷.۶۵۱: $\int x \operatorname{sech}^{-1} x \, \mathrm{d}x = \frac{x^2}{2} \operatorname{sech}^{-1} x - \frac{1}{2}\sqrt{1-x^2} + C$

سوال ۷.۶۵۲: $\int x \coth^{-1} x \, \mathrm{d}x = \frac{x^2-1}{2} \coth^{-1} x + \frac{x}{2} + C$

سوال ۷.۶۵۳: $\int \tanh^{-1} x \, \mathrm{d}x = x \tanh^{-1} x + \frac{1}{2} \ln(1-x^2) + C$

غیر قطعی تکمل

سوال ۷.۶۵۴ تا سوال ۷.۶۶۳ میں تکمل حل کریں۔

سوال ۷.۶۵۴: $\int \sinh 2x \, \mathrm{d}x$

سوال ۷.۶۵۵: $\int \sinh \frac{x}{5} \, \mathrm{d}x$

سوال ۷.۶۵۶: $\int 6 \cosh(\frac{x}{2} - \ln 3) \, \mathrm{d}x$

سوال ۷.۶۵۷: $\int 4 \cosh(3x - \ln 2) \, \mathrm{d}x$

سوال ۷.۶۵۸: $\int \tanh \frac{x}{7} \, \mathrm{d}x$

سوال ۷.۶۵۹: $\int \coth \frac{\theta}{\sqrt{3}} \, \mathrm{d}\theta$

سوال ۷.۶۶۰: $\int \operatorname{sech}^2(x - \frac{1}{2}) \, \mathrm{d}x$

سوال ۷.۶۶۱: $\int \operatorname{csch}^2(5 - x) \, \mathrm{d}x$

سوال ۷.۶۶۲: $\int \frac{\operatorname{sech} \sqrt{t} \tanh \sqrt{t}}{\sqrt{t}} \, \mathrm{d}t$

سوال ۷.۶۶۳: $\int \frac{\operatorname{csch}(\ln t) \coth(\ln t)}{t} \, \mathrm{d}t$

قطعی تکمل

سوال ۷.۶۶۴ تا سوال ۷.۶۷۳ میں تکمل حل کریں۔

سوال ۷.۶۶۴: $\int_{\ln 2}^{\ln 4} \coth x \, \mathrm{d}x$

۱۱۸۷۲ سوال ۷.۶۶۵: $\int_0^{\ln 2} \tanh 2x \, dx$

۱۱۸۷۳ سوال ۷.۶۶۶: $\int_{-\ln 4}^{-\ln 2} 2e^{\theta} \cosh \theta \, d\theta$

۱۱۸۷۴ سوال ۷.۶۶۷: $\int_0^{\ln 2} 4e^{-\theta} \sinh \theta \, d\theta$

۱۱۸۷۵ سوال ۷.۶۶۸: $\int_{-\pi/4}^{\pi/4} \cosh(\tan \theta) \sec^2 \theta \, d\theta$

۱۱۸۷۶ سوال ۷.۶۶۹: $\int_0^{\pi/2} 2 \sinh(\sin \theta) \cos \theta \, d\theta$

۱۱۸۷۷ سوال ۷.۶۷۰: $\int_1^2 \frac{\cosh(\ln t)}{t} \, dt$

۱۱۸۷۸ سوال ۷.۶۷۱: $\int_1^4 \frac{8 \cosh \sqrt{x}}{\sqrt{x}} \, dx$

۱۱۸۷۹ سوال ۷.۶۷۲: $\int_{-\ln 2}^{0} \cosh^2(\frac{x}{2}) \, dx$

۱۱۸۸۰ سوال ۷.۶۷۳: $\int_0^{\ln 10} 4 \sinh^2(\frac{x}{2}) \, dx$

۱۱۸۸۱ الٹے ہذلولی تفاعل اور متعلقہ تکمل کی قیمت کا حصول

۱۱۸۸۲ ہذلولی تفاعل کو درج ذیل لوگارتھمی روپ میں لکھا جا سکتا ہے۔

$$\sinh^{-1} x = \ln(x + \sqrt{x^2+1}), \quad -\infty < x < \infty$$
$$\cosh^{-1} x = \ln(x + \sqrt{x^2-1}), \quad x \geq 1$$
$$\tanh^{-1} x = \frac{1}{2} \ln \frac{1+x}{1-x}, \quad |x| < 1$$
$$\text{sech}^{-1} x = \ln(\frac{1+\sqrt{1-x^2}}{x}), \quad 0 < x \leq 1$$
$$\text{csch}^{-1} x = \ln(\frac{1}{x} + \frac{\sqrt{1+x^2}}{|x|}), \quad x \neq 0$$
$$\coth^{-1} x = \frac{1}{2} \ln \frac{x+1}{x-1}, \quad |x| > 1$$

۱۱۸۸۳ درج بالا کلیات استعمال کرتے ہوئے سوال ۷.۶۷۴ تا سوال ۷.۶۷۹ میں دیے اعداد کو لوگارتھمی روپ میں لکھیں۔

۱۱۸۸۴ سوال ۷.۶۷۴: $\sinh^{-1}(-\frac{5}{12})$

۱۱۸۸۵ سوال ۷.۶۷۵: $\cosh^{-1}(\frac{5}{3})$

۱۱۸۸۶ سوال ۷.۶۷۶: $\tanh^{-1}(-\frac{1}{2})$

۱۱۸۸۷ سوال ۷.۶۷۷: $\coth^{-1}(\frac{5}{4})$

سوال ۷.۶۷۸: $\operatorname{sech}^{-1}\left(\frac{3}{5}\right)$

سوال ۷.۶۷۹: $\operatorname{csch}^{-1}\left(-\frac{1}{\sqrt{3}}\right)$

سوال ۷.۶۸۰ تا سوال ۷.۶۸۷ کو (ا) الٹ ہذلولی تفاعل (ب) قدرتی لوگارتھم کے روپ میں حل کریں۔

سوال ۷.۶۸۰: $\int_0^{2\sqrt{3}} \frac{\mathrm{d}x}{\sqrt{4+x^2}}$

سوال ۷.۶۸۱: $\int_0^{1/3} \frac{6\,\mathrm{d}x}{\sqrt{1+9x^2}}$

سوال ۷.۶۸۲: $\int_{5/4}^{2} \frac{\mathrm{d}x}{1-x^2}$

سوال ۷.۶۸۳: $\int_0^{1/2} \frac{\mathrm{d}x}{1-x^2}$

سوال ۷.۶۸۴: $\int_{1/5}^{3/13} \frac{\mathrm{d}x}{\sqrt{1-16x^2}}$

سوال ۷.۶۸۵: $\int_1^{2} \frac{\mathrm{d}x}{x\sqrt{4+x^2}}$

سوال ۷.۶۸۶: $\int_0^{\pi} \frac{\cos x\,\mathrm{d}x}{\sqrt{1+\sin^2 x}}$

سوال ۷.۶۸۷: $\int_1^{e} \frac{\mathrm{d}x}{x\sqrt{1+(\ln x)^2}}$

نظریہ اور استعمال

سوال ۷.۶۸۸: (ا) مبدا کے لحاظ سے تشاکلی وقفہ پر معین تفاعل f (یعنی ایسا تفاعل جو x پر معین ہونے کی صورت میں $-x$ پر بھی معین ہو) کے لئے درج ذیل دکھائیں۔

$$f(x) = \frac{f(x)+f(-x)}{2} + \frac{f(x)-f(-x)}{2} \qquad (ا)$$

اس کے بعد دکھائیں کہ $\frac{f(x)+f(-x)}{2}$ جفت اور $\frac{f(x)-f(-x)}{2}$ طاق ہو گا۔ (ب) اگر f از خود جفت یا طاق ہو تح مساوات اکافی سادہ صورت اختیار کرتی ہے۔ ان نئی مساواتوں کو تلاش کریں۔ اپنے جوابات کی وجہ پیش کریں۔

سوال ۷.۶۸۹: کلیہ $\sinh^{-1} x = \ln(x+\sqrt{x^2+1}),\ -\infty < x < \infty$ اخذ کریں۔ اس کلیہ میں جذر کے ساتھ منفی کے بجائے مثبت علامت کیوں استعمال ہوتا ہے؟

سوال ۷.۶۹۰: ایک جسم پر، جس کی کمیت m ہے، ساکن حال سے ثقلی کشش کی وجہ سے زمین کی طرف گرتے ہوئے سمتی رفتار v کے مربع کے متناسب ہوائی مزاحمت عمل کرتی ہے۔ یوں t سیکنڈ بعد اس جسم کی سمتی رفتار درج ذیل تفرقی مساوات کو مطمئن کرے گی،

$$m\frac{\mathrm{d}v}{\mathrm{d}t} = mg - kv^2$$

جہاں k ایک ایسا مستقل ہے جس کی قیمت کا دارومدار جسم کے **ہوائی حرکیات**[۲۷] کے خواص اور ہوا کی کثافت پر منحصر ہو گی۔ (ہم فرض کرتے ہیں کہ جسم زیادہ بلندی سے نہیں گرتا ہے۔ یوں ہوائی کثافت میں تبدیلی کو رد کیا جا سکتا ہے۔)

ا. دکھائیں کہ درج ذیل مساوات تفرقی مساوات اور ابتدائی معلومات ($t = 0$ پر $v = 0$) کو مطمئن کرتی ہے۔

$$v = \sqrt{\frac{mg}{k}} \tanh\left(\sqrt{\frac{gk}{m}} t\right)$$

ب. جسم کی تحدیدی سمتی رفتار $\lim_{t\to\infty} v$ تلاش کریں۔

ج. ایک **فضائی غوطہ باز**[۲۸] جس کی کمیت $70\,\mathrm{kg}$ ہو کے لئے $k = 0.23$ ہو گا۔ اس فضائی غوطہ باز کی تحدیدی سمتی رفتار کتنی ہو گی؟

سوال ۷.۶۹۱: فرض کریں ایک جسم محددی لکیر پر حرکت کرتی ہے۔ لمحہ t پر اس کا مقام

$$s = a\cos kt + b\sin kt \qquad (ا)$$
$$s = a\cosh kt + b\sinh kt \qquad (ب)$$

ہے۔ دکھائیں کہ دونوں صورتوں میں اس جسم کی اسراع $\frac{\mathrm{d}^2 s}{\mathrm{d}t^2}$ فاصلہ s کے راست متناسب ہو گی، البتہ پہلی صورت میں یہ مبدا کی جانب اور دوسری صورت میں مبدا سے دوری کے جانب ہو گی۔

سوال ۷.۶۹۲: ایک ٹریکٹر ٹرالی محور x پر چلتے ہوئے مبدا تک پہنچ کر محور y کے رخ مڑتی ہے۔ ٹرالی کے پہیوں سے ٹریکٹر تک فاصلہ کو اکائی تصور کریں۔ یوں جب ٹریکٹر کے پہیے $(1,0)$ پر ہوں تب ٹریکٹر مبدا پر ہو گا۔ جب ٹریکٹر مبدا سے محور y پر چلتا ہے، ٹرالی قوسی راہ $y = f(x)$ اختیار کرتی ہے۔ یہ قوس درج ذیل ابتدائی قیمت مسئلے کا حل ہو گی۔

$$\frac{\mathrm{d}y}{\mathrm{d}x} = -\frac{1}{x\sqrt{1-x^2}} + \frac{x}{\sqrt{1-x^2}} \qquad \text{تفرقی مساوات}$$
$$y = 0, \quad x = 1 \qquad \text{ابتدائی معلومات}$$

اس ابتدائی قیمت مسئلہ کو حل کریں۔ (آپ کو الٹ ہذلولی تفاعل درکار ہوں گے۔)

سوال ۷.۶۹۳: دکھائیں کہ ربع اول میں قوس $y = \frac{1}{a}\cosh ax$ اور محددی لکیروں اور لکیر $x = b$ کے بیچ رقبہ اس مستطیل کے رقبہ جتنا ہو گا جس کی چوڑائی $\frac{1}{a}$ اور لمبائی s ہو جہاں $x = 0$ سے $x = b$ تک قوس کی لمبائی s ہے۔

سوال ۷.۶۹۴: ربع اول میں بالائی طرف سے قوس $y = \cosh x$، زیریں طرف سے قوس $y = \sinh x$، بائیں سے محور y اور دائیں سے لکیر $x = 2$ کے بیچ خطے کو محور x کے گرد گھما کر جسم طواف پیدا کیا جاتا ہے۔ اس جسم کا حجم تلاش کریں۔

سوال ۷.۶۹۵: قوس $y = \operatorname{sech} x$، محور x اور لکیر $x = \mp \ln\sqrt{3}$ کے بیچ خطہ کو محور x کے گرد گھما کر جسم طواف پیدا کیا جاتا ہے۔ اس جسم کا حجم تلاش کریں۔

---

[۲۷] aerodynamics
[۲۸] skydiver

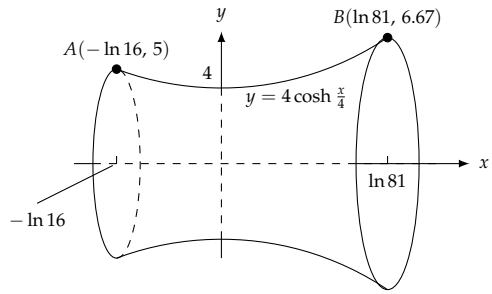

شکل ۷.۶۲: کمتر سطح (سوال ۷.۶۹۷)

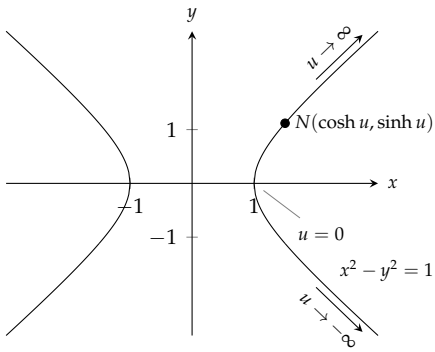

شکل ۷.۶۳: قطع زائد تفاعل کے نام کی وجہ (سوال ۷.۶۹۹)

سوال ۷.۶۹۶: (ا) قوس $y = \frac{1}{2}\cosh 2x$ کی لمبائی $x = 0$ سے $x = \ln\sqrt{5}$ تک تلاش کریں۔ (ب) قوس $y = \frac{1}{a}\cosh ax$ کی لمبائی $x = 0$ سے $x = b > 0$ تک تلاش کریں۔

سوال ۷.۶۹۷: کمتر سطح

قوس $y = 4\cosh(\frac{x}{4}),\ -\ln 16 \le x \le \ln 81$ کو محور x کے گرد گھما کر سطح طواف پیدا کیا جاتا ہے (شکل ۷.۶۲)۔ سطح طواف کا رقبہ تلاش کریں۔

یہ ثابت کیا جا سکتا ہے نقطہ A اور B کے بیچ تمام قابل تفرق قوسین میں سب سے کم سطح طواف پیدا کرنے والی قوس $y = 4\cosh\frac{x}{4}$ ہے۔ یوں A اور b پر واقع سخت دائری تاروں کے بیچ صابن کے جھاگ کی سطح یہی قوسی صورت اپنائے گی۔

سوال ۷.۶۹۸: (ا) قوس $y = \cosh x,\ -\ln 2 \le x \le \ln 2$ کا وسطانی مرکز تلاش کریں۔ (ب) وسطانی مرکز کو 2 اعشاریہ درستگی تک تلاش کریں۔ اس منحنی کو ترسیم کرتے ہوئے وسطانی مرکز کی نشاندہی کریں۔

سوال ۷.۶۹۹: ہذلولی تفاعل کا نام

اکائی دائرہ پر نقطہ (x, y) کو تفاعل $x = \cos u$ اور $y = \sin u$ سے حاصل کیا جا سکتا ہے۔ اسی طرح اکائی قطع زائد (جس کو ہذلولی تفاعل بھی کہتے ہیں) کے دائیں حصہ پر نقطہ (x, y) کو تفاعل $x = \cosh u$ اور $y = \sinh u$ سے حاصل کرنا ممکن ہے (شکل ۷.۶۳)۔ اسی لئے ان تفاعل کو قطع زائد تفاعل یا **ہذلولی تفاعل** کہتے ہیں۔

دائری تفاعل اور قطع زائد تفاعل کے بیچ دوسری مشابہت یہ ہے کہ قطع زائد $x^2 - y^2 = 1$ کے دائیں حصہ میں نقطہ $(\cosh u, \sinh u)$ کے متغیر u کی قیمت خطہ AON کے رقبے کی دگنا ہو گی (شکل ۷.۶۴)۔ اس کی تصدیق کرنے کی خاطر درج ذیل اقدام کریں۔

ا. دکھائیں کہ خطہ AON کا رقبہ $S(u) = \frac{1}{2}\cosh u \sinh u - \int_1^{\cosh u} \sqrt{x^2 - 1}\,\mathrm{d}x$ ہو گا۔

ب. دکھائیں کہ جزو-امین دی گئی مساوات کا u کے لحاظ سے تفرق $S'(u) = \frac{1}{2}$ ہو گا۔

ج. اس آخری مساوات کو $S(u)$ کے لئے حل کریں۔ $S(0)$ کی قیمت کتنی ہے؟ تکمل کے مستقل C کی قیمت کتنی ہو گی؟ مستقل C جانتے ہوئے حل $S(u)$ اور u کا تعلق بیان کریں۔

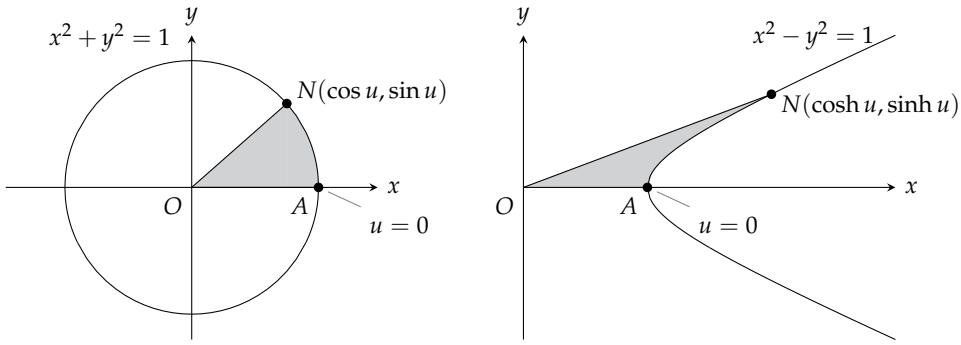

(ا) u کی قیمت سیاہ رقبے کی دگنی ہے۔ (ب) u کی قیمت سیاہ رقبے کی دگنی ہے۔

شکل ۷.۶۴: دائری تفاعل اور قطع زائد تفاعل کا ایک تعلق (سوال ۷.۶۹۹)۔

لٹکی ہوئی تار

سوال ۷.۷۰۰: فرض کریں دو کھمبوں کے بیچ بجلی کی تار لٹکی ہوئی ہے (شکل ۷.۶۵)۔ اس تار کی فی اکائی لمبائی کمیت m ہے اور تار کی سب سے کم اونچائی والے نقطہ پر افقی تناؤ H ہے۔ ہم محددیوں منتخب کرتے ہیں کہ قوسی تار کا نچلا حصہ مبدا سے $\frac{H}{mg}$ بلند ہو جہاں $g = 9.8\,\mathrm{m\,s^{-2}}$ ہے۔ ایسی صورت میں ہم دکھا سکتے ہیں کہ تار کی صورت ہذلولی کوسائن $y = \frac{H}{mg}\cosh\frac{mgx}{H}$ ہو گی۔ ایسی قوس کو **لیزم**[۲۹] کہتے ہیں۔

ا. تار کے کسی عمومی نقطہ $N(x,y)$ پر تناؤ T ہو گا جو قوس کو مماسی ہو گا۔ دکھائیں کہ اس نقطہ پر درج ذیل ہو گا۔

$$\tan\phi = \frac{\mathrm{d}y}{\mathrm{d}x} = \sinh\frac{mgx}{H}$$

ب. چونکہ تار ساکن ہے لہٰذا کسی بھی نقطہ پر افقی قوتوں کا مجموعہ صفر ہو گا اور اسی طرح انتصابی قوتوں کا مجموعہ بھی صفر ہو گا۔ یوں دکھائیں کہ $T = H$ اور $T = mgy$ ہو گا۔ یوں N پر تناؤ y لمبائی کی تار کا وزن ہو گا۔

سوال ۷.۷۰۱: لیزم (سوال ۷.۷۰۰ جاری)

تار کی لمبائی $s = \frac{1}{a}\sinh x$ ہو گی (شکل ۷.۶۵) جہاں $a = \frac{mg}{H}$ ہو گا۔ دکھائیں کہ N کے محدد کو s کی صورت میں لکھا جا سکتا ہے:

$$x = \frac{1}{a}\sinh^{-1} as, \quad y = \sqrt{s^2 + \frac{1}{a^2}}$$

سوال ۷.۷۰۲: جھول اور افقی تناؤ ایک تار جس کی لمبائی $10\,\mathrm{m}$ اور کمیت $0.6\,\mathrm{kg\,m^{-1}}$ ہے کو ایک جتنے بلند کھمبوں کے سروں سے باندھا گیا ہے۔ کھمبوں کے بیچ فاصلہ $9\,\mathrm{m}$ ہے۔

---

[۲۹] catenary

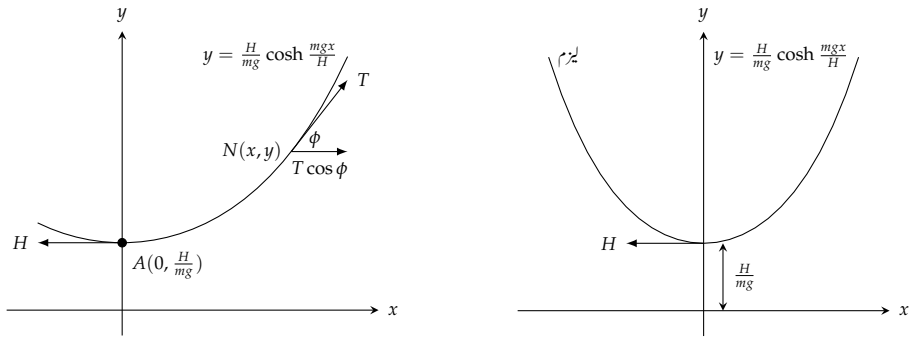

(ب) عمومی نقطہ پر قوتیں۔ (ا) لیزم

شکل ۷.۶۵: لیزم برائے سوال ۷.۷۰۰ اور سوال ۷.۷۰۱

۱۱۹۵۷ ا. تار کو درج ذیل مساوات سے ظاہر کریں۔

$$y = \frac{1}{a}\cosh ax, \quad -5 \le x \le 5$$

۱۱۹۵۸ دکھائیں کہ a درج ذیل کو مطمئن کرتا ہے (سوال ۷.۷۰۱ کے نتائج استعمال کریں۔)

$$5a = \sinh 4.5a \tag{۲}$$

۱۱۹۵۹ ب. ترسیمات $y = 5a$ اور $y = \sinh 4.5a$ کا نقطہ تقاطع تلاش کرتے ہوئے جزو-اکا ترسیمی حل تلاش کریں۔

۱۱۹۶۰ ج. مساوات ۲ کا اعدادی حل تلاش کریں۔ اعدادی حل کا ترسیمی حل کے ساتھ موازنہ کریں۔

۱۱۹۶۱ د. تار کے کم تر بلند نقطہ پر افقی تناو معلوم کریں۔

۱۱۹۶۲ ھ. لیزم $y = \frac{1}{a}\cosh ax$ کو وقفہ $-5 \le x \le 5$ پر ترسیم کریں۔ تار میں جھول کا اندازہ لگائیں۔

۱۱۹۶۳

۱۱۹۶۴

۱۱۹۶۵ ۷.۱۱ یک رتبی تفرقی مساوات

۱۱۹۶۶ ہم نے ابتدائی قیمت مسئلہ $\frac{dy}{dt} = ky,\ y(0) = y_0$ کو حل کرتے ہوئے قوت نمائی تبدیلی $y = y_0 e^{kt}$ کا قاعدہ حصہ ۷.۵ میں دریافت
۱۱۹۶۷ کیا۔ جیسا کہ ہم نے دیکھا یہ مسئلہ نمو آبادی، تابکار تحلیل، انتقال حرارت اور دیگر اعمال کی نمونہ کشی کرتا ہے۔ اس حصہ میں ہم ابتدائی قیمت مسئلہ $\frac{dy}{dx} = f(x,y)$
۱۱۹۶۸ پر غور کریں گے جہاں تفاعل f غیر تابع متغیر x اور تابع متغیر y کا تفاعل ہو گا۔ اس مساوات کے استعمال مزید زیادہ ہیں۔

یک رتبی تفرقی مساوات

درج ذیل مساوات جس میں $f(x,y)$ مستوی xy کے متغیرات x اور y پر مبنی تفاعل $f(x,y)$ ہے کو **یک رتبی**[30] تفرقی مساوات کہتے ہیں۔

$$\frac{\mathrm{d}y}{\mathrm{d}x} = f(x,y) \tag{1}$$

اس مساوات کو ہم $y' = f(x,y)$ بھی لکھتے ہیں۔ متغیر x کے کسی وقفہ (جو لا متناہی ہو سکتا ہے) پر معین قابل تفرق تفاعل $y = y(x)$ جس کے لئے

$$\frac{\mathrm{d}}{\mathrm{d}x}y(x) = f(x,y(x))$$

ہو، مساوات کا **حل**[31] کہلاتا ہے۔ ابتدائی شرط $y(x_0) = y_0$ کا مطلب ہو گا کہ منحنی حل $y = y(x)$ نقطہ (x_0,y_0) سے گزرتی ہے۔

دھیان رہے کہ اس تفرقی مساوات میں $\frac{\mathrm{d}y}{\mathrm{d}x}$ کا جزو ضربی 1 ہے۔

مثال ۷.۷۵: درج ذیل تفرقی مساوات میں $f(x,y) = 1 - \frac{y}{x}$ ہے۔

$$\frac{\mathrm{d}y}{\mathrm{d}x} = 1 - \frac{y}{x}$$

□

مثال ۷.۷۶: دکھائیں کہ ابتدائی قیمت مسئلہ

$$\frac{\mathrm{d}y}{\mathrm{d}x} = 1 - \frac{y}{x}, \quad y(2) = \frac{3}{2}$$

کا حل درج ذیل تفاعل ہے۔

$$y = \frac{1}{x} + \frac{x}{2}$$

حل: دیا گیا تفاعل ابتدائی شرط کو مطمئن کرتا ہے، یعنی:

$$y(2) = \left(\frac{1}{x} + \frac{x}{2}\right)_{x=2} = \frac{1}{2} + \frac{2}{2} = \frac{3}{2}$$

یہ دکھانے کی خاطر کہ دیا گیا تفاعل تفرقی مساوات کو بھی مطمئن کرتا ہے، ہم y کی جگہ $\frac{1}{x} + \frac{x}{2}$ پر کر کے تصدیق کرتے ہیں کہ تفرقی مساوات کے دونوں اطراف یکساں ہیں۔

$$\begin{aligned}
\frac{\mathrm{d}y}{\mathrm{d}x} &= \frac{\mathrm{d}}{\mathrm{d}x}\left(\frac{1}{x} + \frac{x}{2}\right) = -\frac{1}{x^2} + \frac{1}{2} && \text{بایاں ہاتھ} \\
1 - \frac{y}{x} &= 1 - \frac{1}{x}\left(\frac{1}{x} + \frac{x}{2}\right) && \text{دایاں ہاتھ} \\
&= 1 - \frac{1}{x^2} - \frac{1}{2} = -\frac{1}{x^2} + \frac{1}{2}
\end{aligned}$$

---

[30] firstorder
[31] solution

۱۱۹۸۲ تفاعل $y = \frac{1}{x} + \frac{x}{2}$ ابتدائی شرط اور تفرقی مساوات کو مطمئن کرتا ہے لہٰذا یہ تفرقی مساوات کا حل ہو گا۔ □

۱۱۹۸۳ قابل علیحدگی مساوات

۱۱۹۸۴ اگر $f(x,y)$ کو x کے تفاعل اور y کے تفاعل کا حاصل ضرب لکھنا ممکن ہو تب تفرقی مساوات $y' = f(x,y)$ **قابل علیحدگی**[۳۲] کہلاتی
۱۱۹۸۵ ہے۔ ایسی صورت میں ہم تفرقی مساوات کو درج ذیل روپ میں لکھ سکتے ہیں۔

$$\frac{\mathrm{d}y}{\mathrm{d}x} = g(x)h(y)$$

۱۱۹۸۶ اگر $h(y) \neq 0$ ہو تب ہم دونوں اطراف کو h سے تقسیم اور $\mathrm{d}x$ سے ضرب کرتے ہوئے متغیرات کو علیحدہ کر سکتے ہیں:

$$\frac{1}{h(y)}\,\mathrm{d}y = g(x)\,\mathrm{d}x$$

۱۱۹۸۷ یوں y اجزاء اور $\mathrm{d}y$ بائیں ہاتھ جبکہ x اجزاء اور $\mathrm{d}x$ دائیں ہاتھ منتقل ہوتے ہیں۔ ہم دونوں اطراف کا تکمل لے کر

$$\int \frac{1}{h(y)}\,\mathrm{d}y = \int g(x)\,\mathrm{d}x$$

۱۱۹۸۸ حاصل کرتے ہیں۔ تکمل سے درکار حل حاصل ہوتا ہے جس میں y، متغیر x کا صریح تفاعل یا خفی تفاعل جمع مستقل ہو گا۔

۱۱۹۸۹ مثال ۷.۷۷: درج ذیل تفرقی مساوات کو حل کریں۔

$$\frac{\mathrm{d}y}{\mathrm{d}x} = (1+y^2)e^x$$

۱۱۹۹۰ حل: چونکہ $1+y^2$ کبھی بھی صفر نہیں ہو سکتا ہے لہٰذا ہم متغیرات کی علیحدگی سے اس تفرقی مساوات کو حل کر سکتے ہیں۔

$$\begin{aligned}
\frac{\mathrm{d}y}{\mathrm{d}x} &= (1+x^2)e^x \\
\mathrm{d}y &= (1+y^2)e^x\,\mathrm{d}x && \text{دونوں اطراف کو } \mathrm{d}x \text{ سے ضرب دیں} \\
\frac{\mathrm{d}y}{1+y^2} &= e^x\,\mathrm{d}x && \text{دونوں اطراف کو } 1+y^2 \text{ سے تقسیم کریں} \\
\int \frac{\mathrm{d}y}{1+y^2} &= \int e^x\,\mathrm{d}x && \text{تکمل} \\
\tan^{-1} y &= e^x + C && \text{دونوں اطراف کے مستقل کو } C \text{ ظاہر کرتا ہے}
\end{aligned}$$

---

[۳۲] separable

مساوات $\tan^{-1} y = e^x + C$ میں y متغیر x کا خفی تفاعل ہے۔ ہم اس مساوات کو حل کر کے y کو x کے صریح تفاعل کی صورت میں لکھ سکتے ہیں۔ دونوں اطراف کا ٹینجنٹ لیتے ہیں:

$$\begin{aligned}\tan(\tan^{-1} y) &= \tan(e^x + C)\\ y &= \tan(e^x + C)\end{aligned}$$

□

خطی یک رتبی مساوات

درج ذیل یک رتبی تفرق مساوات

$$\frac{\mathrm{d}y}{\mathrm{d}x} + P(x)y = Q(x) \tag{۲}$$

جس میں P اور Q متغیر x کے تفاعل ہوں **خطی**[۳۳] یک رتبی مساوات کہلاتی ہے۔ مساوات ۲ اس کی **معیاری روپ**[۳۴] ہے۔ دھیان رہے کہ اس تفرقی مساوات میں $\frac{\mathrm{d}y}{\mathrm{d}x}$ کا جزو ضربی 1 ہے۔

مثال ۷.۷۸: درج ذیل کو معیاری روپ میں لکھیں۔

$$x\frac{\mathrm{d}y}{\mathrm{d}x} = x^2 + 3y, \quad x > 0$$

حل:

$$\begin{aligned}x\frac{\mathrm{d}y}{\mathrm{d}x} &= x^2 + 3y\\ \frac{\mathrm{d}y}{\mathrm{d}x} &= x + \frac{3}{x}y && x\text{ سے تقسیم}\\ \frac{\mathrm{d}y}{\mathrm{d}x} - \frac{3}{x}y &= x && \text{معیاری روپ؛ } P(x) = -\tfrac{3}{x} \text{ اور } Q(x) = x \text{ ہیں۔}\end{aligned}$$

□

مثال ۷.۷۹: ہم نے حصہ ۷.۵ میں درج ذیل مساوات سے جرثوموں کی نمو، تابکار تحلیل اور تبدیلی حرارت کو ظاہر کیا۔

$$\frac{\mathrm{d}y}{\mathrm{d}x} = ky$$

---

[۳۳] linear
[۳۴] standardform

۱۲۰۰۲ اس خطی یک رتبی تفرقی مساوات کی معیاری روپ درج ذیل ہے۔

$$\frac{\mathrm{d}y}{\mathrm{d}x} - ky = 0 \qquad\qquad P(h) = -k,\ Q(x) = 0$$

۱۲۰۰۳ □

۱۲۰۰۴ ہم معیاری مساوات

$$\frac{\mathrm{d}y}{\mathrm{d}x} + P(x)y = Q(x) \tag{۳}$$

۱۲۰۰۵ کے دونوں اطراف کو اس مثبت تفاعل $v(x)$ سے ضرب دیتے ہیں جو بائیں ہاتھ کو حاصل ضرب $y \cdot v(x)$ کے تفرق میں تبدیل کرتا ہو۔ تفاعل
۱۲۰۰۶ $v(x)$ کو مساوات ۳ کا **جزو تکمل**[۳۵] کہتے ہیں۔ ہم بہت جلد $v(x)$ معلوم کرنا سکھائیں گے۔ پہلے $v(x)$ جانتے ہوئے تفرقی مساوات کے حل پر بات
۱۲۰۰۷ کرتے ہیں۔

۱۲۰۰۸ آئیں دیکھتے ہیں کہ v سے ضرب دینا کیوں کارآمد ثابت ہوتا ہے:

$$\frac{\mathrm{d}y}{\mathrm{d}x} + P(x)y = Q(x) \qquad \text{دی گئی معیاری مساوات}$$

$$v(x)\frac{\mathrm{d}y}{\mathrm{d}x} + P(x)v(x)y = v(x)Q(x) \qquad v(x)\text{ سے ضرب دیں}$$

$$\frac{\mathrm{d}}{\mathrm{d}x}(v(x)\cdot y) = v(x)Q(x) \tag{۴}$$

$$v(x)\cdot y = \int v(x)Q(x)\,\mathrm{d}x \qquad x\text{ کے لحاظ سے تکمل}$$

$$y = \frac{1}{v(x)}\int v(x)Q(x)\,\mathrm{d}x \qquad y\text{ کے لئے حل کریں}$$

۱۲۰۰۹ یاد رہے کہ $v(x)$ کا انتخاب یوں کیا جاتا ہے کہ $v\frac{\mathrm{d}y}{\mathrm{d}x} + Pvy = \frac{\mathrm{d}}{\mathrm{d}x}(v\cdot y)$ ہو۔ درج بالا میں تیسرے قدم پر اسی حقیقت کو استعمال کیا گیا
۱۲۰۱۰ ہے۔ مساوات ۳ کا حل تفاعل $v(x)$ اور $Q(x)$ کی صورت میں مساوات ۴ دیتی ہے۔

۱۲۰۱۱ کیا $P(x)$ مساوات کے حل میں نہیں پایا جاتا ہے؟ درحقیقت $P(x)$ بالواسطہ طور پر حل میں پایا جاتا ہے۔ یہ $v(x)$ کے انتخاب میں شامل ہوتا ہے۔
۱۲۰۱۲ ہم $v(x)$ پر مسلط شرط سے درج ذیل حاصل کرتے ہیں۔

$$\frac{\mathrm{d}}{\mathrm{d}x}(vy) = v\frac{\mathrm{d}y}{\mathrm{d}x} + Pvy \qquad v\text{ پر مسلط شرط}$$

$$v\frac{\mathrm{d}y}{\mathrm{d}x} + y\frac{\mathrm{d}v}{\mathrm{d}x} = v\frac{\mathrm{d}y}{\mathrm{d}x} + Pvy \qquad \text{زنجیری قاعدہ}$$

$$y\frac{\mathrm{d}v}{\mathrm{d}x} = Pvy \qquad \text{جزو } v\frac{\mathrm{d}y}{\mathrm{d}x}\text{ کٹ جاتے ہیں}$$

---

[۳۵] integratingfactor

اس آخری مساوات کے دونوں اطراف کو y سے تقسیم کرتے ہوئے سے درج ذیل حاصل ہوگا جہاں تیسرے قدم پر $v > 0$ کی وجہ سے $\ln v$ میں مطلق قیمت کی علامت کی ضرورت پیش نہیں آتی۔

$$\begin{aligned}
\frac{\mathrm{d}v}{\mathrm{d}x} &= Pv \\
\frac{\mathrm{d}v}{v} &= P\,\mathrm{d}x && \text{علیحدگی متغیرات} \\
\int \frac{\mathrm{d}v}{v} &= \int P\,\mathrm{d}x && \text{تکمل} \\
\ln v &= \int P\,\mathrm{d}x \\
e^{\ln v} &= e^{\int P\,\mathrm{d}x} && \text{قوت نما} \\
v &= e^{\int P\,\mathrm{d}x}
\end{aligned} \tag{۵}$$

یوں ایسا $v(x)$ جو مساوات ۵ کو مطمئن کرتا ہو ہمیں مساوات ۴ کے ذریعہ مساوات ۳ کا حل دیگا۔ ہمیں v کی عمومی ترین صورت کی ضرورت نہیں ہے بلکہ اس کی کوئی بھی صورت کافی ہے۔ یوں P کے تکمل $\int P\,\mathrm{d}x$ کی سادہ ترین صورت لینا زیادہ بہتر ہوگا۔

مسئلہ ۷.۴: خطی یک رتبی تفرقی مساوات

$$\frac{\mathrm{d}y}{\mathrm{d}x} + P(x)y = Q(x) \tag{۶}$$

کا حل

$$y = \frac{1}{v(x)} \int v(x)Q(x)\,\mathrm{d}x \tag{۷}$$

ہوگا جہاں

$$v(x) = e^{\int P(x)\,\mathrm{d}x} \tag{۸}$$

ہے۔ تفاعل $v(x)$ کے کلیہ میں $P(x)$ کے الٹ تفرق کی عمومی صورت کی ضرورت نہیں ہوگی بلکہ اس کا کوئی بھی الٹ تفرق کارآمد ہوگا۔

خطی یک رتبی تفرقی مساوات کو حل کرنے کے اقدام:

ا. مساوات کو معیاری روپ میں لکھ کر $P(x)$ اور $Q(x)$ معلوم کریں۔

ب. $P(x)$ کا الٹ تفرق معلوم کریں۔

ج. جزو تکمل $v(x) = e^{\int P(x)\,\mathrm{d}x}$ تلاش کریں۔

د. مساوات ۷ کی مدد سے حل تلاش کریں۔

۱۲۰۲۷ مثال ۷.۸۰: درج ذیل مساوات کو حل کریں۔

$$x\frac{\mathrm{d}y}{\mathrm{d}x} = x^2 + 3y, \quad x > 0$$

۱۲۰۲۸ حل: ہم اس مساوات کو چار قدموں میں حل کرتے ہیں۔

۱۲۰۲۹ **قدم اول:** مساوات کو معیاری روپ میں لکھ کر P اور Q کی نشاندہی کرتے ہیں۔

$$\frac{\mathrm{d}y}{\mathrm{d}x} - \frac{3}{x}y = x, \quad P(x) = -\frac{3}{x}, \quad Q(x) = x \qquad \text{مثال ۷.۷۸}$$

۱۲۰۳۰ **قدم دوم:** $P(x)$ کا (کوئی بھی) الٹ تفرق تلاش کرتے ہیں۔

$$\int P(x)\,\mathrm{d}x = \int -\frac{3}{x}\,\mathrm{d}x = -3\int \frac{1}{x}\,\mathrm{d}x = -3\ln|x| = -3\ln x \qquad x > 0$$

۱۲۰۳۱ **قدم سوم:** جزو تکمل $v(x)$ کی تلاش۔

$$v(x) = e^{\int P(x)\,\mathrm{d}x} = e^{-3\ln x} = e^{\ln x^{-3}} = \frac{1}{x^3} \qquad \text{مساوات ۸}$$

۱۲۰۳۲ **قدم چہارم:** حل کی تلاش۔

$$\begin{aligned}
y &= \frac{1}{v(x)}\int v(x)Q(x)\,\mathrm{d}x && \text{مساوات ۷}\\
&= \frac{1}{(1/x^3)}\int \left(\frac{1}{x^3}\right)(x)\,\mathrm{d}x && \text{جزو-اتاج کی معلومات}\\
&= x^3\int \frac{\mathrm{d}x}{x^2}\\
&= x^3\left(-\frac{1}{x} + C\right) && \text{مستقل } C \text{ مت بھولیں}\\
&= -x^2 + Cx^3
\end{aligned}$$

۱۲۰۳۳ یوں حل $y = -x^2 + Cx^3,\ x > 0$ ہوگا۔ □

۱۲۰۳۴ مثال ۷.۸۱: درج ذیل مساوات کو حل کریں

$$xy' = x^2 + 3y, \quad x > 0$$

۱۲۰۳۵ جہاں ابتدائی معلومات $y(1) = 2$ دی گئی ہے۔

۱۲۰۳۶ حل: ہم مثال ۷.۸۰ میں اس کا درج ذیل حل تلاش کر چکے ہیں۔

$$y = -x^2 + Cx^3, \quad x > 0$$

۱۲۰۳۷ ہم ابتدائی معلومات استعمال کرتے ہوئے مستقل C کی قیمت دریافت کرتے ہیں۔

$$\begin{aligned} y &= -x^2 + Cx^3 \\ 2 &= -(1)^2 + C(1)^3 \\ C &= 2 + (1)^2 = 3 \end{aligned}$$

۱۲۰۳۸ یوں ابتدائی قیمت مسئلے کا حل تفاعل $y = -x^2 + 3x^3$ ہو گا۔ □

۱۲۰۳۹ **سمتی رفتار کے متناسب مزاحمت**

۱۲۰۴۰ بعض اوقات جب باقی قوتوں کو رد کرنا ممکن ہو، یہ کہنا درست ہو گا کہ حرکت کرتے ہوئے جسم پر لاگو مزاحمت اس کی سمتی رفتار کے راست متناسب ہو
۱۲۰۴۱ گی۔ ایک گاڑی جس کا انجن بند ہو اور یہ رک رہی ہو، ایسی ایک مثال ہے۔ ایسا جسم جتنا آہستہ چل رہا ہو، اس پر ہوائی مزاحمت اتنی کم ہو گی۔ اس عمل کو ریاضی کا
۱۲۰۴۲ جامہ پہنانے کی خاطر ہم جسم کو کمیت m سے ظاہر کرتے ہیں جو محددی لکیر پر حرکت کرتا ہے۔ لمحہ t پر اس جسم کی رفتار v اور مقام s ہوں گے۔ مزاحمتی
۱۲۰۴۳ قوت جسم کی سمتی رفتار کے الٹ رخ ہو گا لہٰذا ہم

$$m\frac{\mathrm{d}v}{\mathrm{d}t} = -kv \qquad\qquad k > 0$$

۱۲۰۴۴ لکھ سکتے ہیں جس کی معیاری روپ

$$\frac{\mathrm{d}v}{\mathrm{d}t} + \frac{k}{m}v = 0$$

۱۲۰۴۵ ہو گی۔ فرض کریں لمحہ $t = 0$ پر جسم کی سمتی رفتار v_0 ہو تب ہم مسئلہ ۷.۴ کی مدد سے درج ذیل حل حاصل ہو گا (سوال ۷.۷۴۴)۔

$$v = v_0 e^{-(k/m)t} \tag{۹}$$

۱۲۰۴۶ ہم مساوات ۹ سے کیا سیکھ سکتے ہیں؟ ہم دیکھتے ہیں کہ اگر m بہت زیادہ ہو، مثلاً ریت سے بھرا ہوا ٹرک، تب اس جسم کو رکنے کے لئے بہت زیادہ وقت درکار ہو
۱۲۰۴۷ گا۔ اس کے علاوہ ہم اس مساوات کا تکمل لے کر طے شدہ فاصلہ s معلوم کر سکتے ہیں۔

۱۲۰۴۸ فرض کریں ایک جسم صرف ہوائی مزاحمت کی موجودگی میں رک رہا ہے اور یہ قوت جسم کی رفتار کے راست متناسب ہے۔ یہ جسم کتنا فاصلہ طے کرے گا؟ یہ
۱۲۰۴۹ جاننے کی خاطر ہم مساوات ۹ سے شروع کرتے ہوئے درج ذیل ابتدائی قیمت مسئلہ حل کرتے ہیں۔

$$\frac{\mathrm{d}s}{\mathrm{d}t} = v_0 e^{-(k/m)t} \qquad\qquad s(0) = 0$$

۱۳۰۵۰ t کے لحاظ سے تکمل لے کر

$$s = -\frac{v_0 m}{k} e^{-(k/m)t} + C$$

۱۳۰۵۱ ملتا ہے جس میں $t = 0$ پر $s = 0$ پر کرتے ہوئے مستقل C کی قیمت جانتے ہیں۔

$$0 = -\frac{v_0 m}{k} + C \quad \Longrightarrow \quad C = \frac{v_0 m}{k}$$

۱۳۰۵۲ اس جسم کا مقام لمحہ t پر

$$s(t) = -\frac{v_0 m}{k} e^{-(k/m)t} + \frac{v_0 m}{k} = \frac{v_0 m}{k}(1 - e^{-(k/m)t})$$

۱۳۰۵۳ ہوگا۔ یہ جانے کے لئے کہ یہ جسم کتنا فاصلہ طے کرنے کے بعد رکے گا ہم $t \to \infty$ پر $s(t)$ کا حد تلاش کرتے ہیں۔ چونکہ $-\frac{k}{m} < 0$ ہے لہٰذا
۱۳۰۵۴ $t \to \infty$ کرنے سے $e^{-(k/m)t} \to 0$ ہوگا۔ یوں درج ذیل حاصل ہوتا ہے۔

$$\begin{aligned}\lim_{t\to\infty} s(t) &= \lim_{t\to\infty} \frac{v_0 m}{k}(1 - e^{-(k/m)t}) \\ &= \frac{v_0 m}{k}(1 - 0) = \frac{v_0 m}{k}\end{aligned}$$

۱۳۰۵۵ یوں یہ جسم کو رکنے کے لئے درج ذیل فاصلہ درکار ہوگا۔

$$\text{طے فاصلہ} = \frac{v_0 m}{k} \tag{۱۰}$$

۱۳۰۵۶ چونکہ صرف ریاضیات میں ہم وقت کو لامتناہی تک بڑھا سکتے ہیں لہٰذا یہ ایک فرضی فاصلہ ہے۔ حقیقی فاصل اس سے کم ہوگا۔ ہاں یہ درست ہوگا کہ بھاری جسم کو
۱۳۰۵۷ رکنے کے لئے زیادہ وقت درکار ہوگا اور یہ زیادہ دور تک چل کر رکے گا۔

۱۳۰۵۸ مثال ۷.۸۲: برف پھسلن پر پھسلنے والے $80\,\mathrm{kg}$ شخص کے لئے مساوات ۹ میں $k = 4.4\,\mathrm{kg\,s^{-1}}$ ہوگا۔ یہ شخص $3\,\mathrm{m\,s^{-1}}$ کی رفتار
۱۳۰۵۹ سے آہستہ ہو کر $0.25\,\mathrm{m\,s^{-1}}$ کی رفتار تک کتنی دیر میں پہنچے گا؟ اس دورانیے میں یہ شخص کتنا فاصلہ طے کرے گا؟

۱۳۰۶۰ حل: ہم مساوات ۹ کو t کے لئے حل کرتے ہیں۔

$$\begin{aligned}3e^{-4.4t/80} &= 0.25 \\ e^{-4.4t/80} &= \frac{1}{12} \\ -\frac{4.4t}{80} &= \ln(\frac{1}{12}) \\ t &= \frac{80}{4.4}\ln 12 \approx 45\,\mathrm{s}\end{aligned}$$

۱۳۰۶۱ اس عرصہ میں طے فاصلہ کو مساوات ۱۰ سے حاصل کرتے ہیں۔

$$= \frac{v_0 m}{k} = \frac{(3)(80)}{4.4} \approx 55\,\mathrm{m}$$

۱۳۰۶۲ □

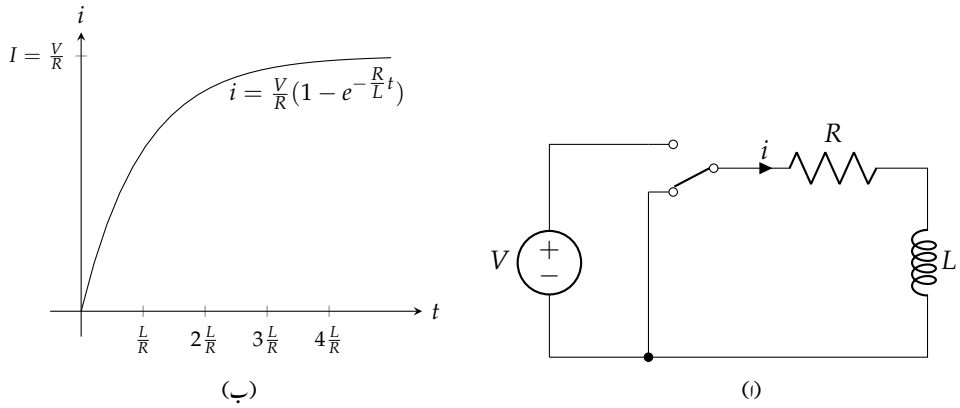

شکل ۷.۶۶: سلسلہ وار مزاحمت، امالہ برقی دور (مثال ۷.۸۳)

۱۲۰۶۳ RL ادوار

۱۲۰۶۴ منبع دباو کے ساتھ لمحہ $t = 0$ پر مزاحمت R اور امالہ L کو سلسلہ وار جوڑا جاتا ہے (شکل ۷.۶۶)۔ امالہ کی اکائی ہینری H اور مزاحمت کی اکائی اہم Ω
۱۲۰۶۵ ہے۔ اس دور کو درج ذیل مساوات ظاہر کرتی ہے

$$L\frac{\mathrm{d}i}{\mathrm{d}t} + Ri = V \tag{۱۱}$$

۱۲۰۶۶ جہاں t وقت کو، i برقی رو کو اور V لاگو برقی دباو کو ظاہر کرتی ہے۔ اس مساوات کو حل کرتے ہوئے لمحہ t پر برقی رو $i(t)$ معلوم کیا جا سکتا ہے۔

۱۲۰۶۷ مثال ۷.۸۳: سلسلہ وار جڑے RL دور کو مساوات ۱۱ ظاہر کرتی ہے۔ اس کو حل کریں۔

۱۲۰۶۸ حل: ہم اس مساوات کو معیاری روپ میں لکھتے ہیں۔

$$\frac{\mathrm{d}i}{\mathrm{d}t} + \frac{R}{L}i = \frac{V}{L} \tag{۱۲}$$

۱۲۰۶۹ یوں مسئلہ ۷.۴ کے تحت حل درج ذیل ہو گا (سوال ۷.۷۵۶)۔

$$i = \frac{V}{R} - \frac{V}{R}e^{-\frac{R}{L}t} \tag{۱۳}$$

۱۲۰۷۰ چونکہ $-\frac{R}{L}$ نفی ہے لہٰذا $t \to \infty$ کرنے سے $e^{-(R/L)t} \to 0$ ہو گا۔ یوں

$$\lim_{t\to\infty} = \lim_{t\to\infty}\left(\frac{V}{R} - \frac{V}{R}e^{-(R/L)t}\right) = \frac{V}{R} - \frac{V}{R}\cdot 0 = \frac{V}{R}$$

ہو گا۔ یوں کسی بھی لمحہ پر برقی رو $\frac{V}{T}$ سے کم ہو گی لیکن جیسے جیسے وقت گزرتا ہے برقی رو برقرار حال قیمت $\frac{V}{R}$ تک پہنچتی ہے۔ درج ذیل مساوات کے تحت

$$L\frac{\mathrm{d}i}{\mathrm{d}t} + Ri = V$$

اگر $L = 0$ (امالہ کی غیر موجودگی) یا $\frac{\mathrm{d}i}{\mathrm{d}t} = 0$ (برقرار حال) ہو تب اس دور میں $i = \frac{V}{R}$ ہو گا (شکل ۷.۶۶)۔

مساوات ۱۳ در حقیقت دو مختلف حل کا مجموعہ ہے۔ اس کا پہلا جزو $\frac{V}{R}$ **برقرار حال حل** ہے جبکہ اس کا دوسرا جزو $-\frac{V}{R}e^{-(R/L)t}$ **عارضی حال حل** ہے جو $t \to \infty$ کرنے سے صفر ہو گا۔ □

سوالات

حل کی تصدیق

سوال ۷.۷۰۳ اور سوال ۷.۷۰۴ میں تصدیق کریں کہ ہر $y = f(x)$ دیے گئے تفرقی مساوات کا حل ہے۔

سوال ۷.۷۰۳: $2y' + 3y = e^{-x}$

(ا) $y = e^{-x}$، (ب) $y = e^{-x} + e^{-(3/2)x}$، (ج) $y = e^{-x} + Ce^{-(3/2)x}$

سوال ۷.۷۰۴: $y' = y^2$؛

(ا) $y = -\frac{1}{x}$، (ب) $y = -\frac{1}{x+3}$، (ج) $y = -\frac{1}{x+C}$

سوال ۷.۷۰۵ اور سوال ۷.۷۰۶ میں تصدیق کریں کہ $y = f(x)$ دیے گئے تفرقی مساوات کا حل ہے۔

سوال ۷.۷۰۵: $x^2y' + xy = e^x$ ، $y = \frac{1}{x}\int_1^x \frac{e^t}{t}\,\mathrm{d}t$

سوال ۷.۷۰۶: $y' + \frac{2x^3}{1+x^4}y = 1$ ، $y = \frac{1}{\sqrt{1+x^4}}\int_1^x \sqrt{1+t^4}\,\mathrm{d}t$

سوال ۷.۷۰۷ تا سوال ۷.۷۱۰ میں ابتدائی قیمت مسئلے کے دیے گئے حل کی تصدیق کریں۔

سوال ۷.۷۰۷: $y' + y = \frac{2}{1+4e^{2x}}, \quad y(-\ln 2) = \frac{\pi}{2}; \quad y = e^{-x}\tan^{-1}(2e^x)$

سوال ۷.۷۰۸: $y' = e^{-x^2} - 2xy, \quad y(2) = 0; \quad y = (x-2)e^{-x^2}$

سوال ۷.۷۰۹: $xy' + y = -\sin x, \quad x > 0, \quad y(\frac{\pi}{2}) = 0; \quad y = \frac{\cos x}{x}$

سوال ۷.۷۱۰: $x^2y' = xy - y^2, \quad x > 1, \quad y(e) = e; \quad y = \frac{x}{\ln x}$

قابل علیحدگی مساوات

سوال ۷.۷۱۱ تا سوال ۷.۷۱۶ میں دیے گئے تفرقی مساوات کو حل کریں۔

سوال ۷.۷۱۱: $\frac{\mathrm{d}y}{\mathrm{d}x} = 2(x + y^2x)$

سوال ۷.۷۱۲: $(y+1)\frac{\mathrm{d}y}{\mathrm{d}x} = y(x-1)$

۱۲۰۹۴ سوال ۷.۷۱۳: $2\sqrt{xy}\frac{\mathrm{d}y}{\mathrm{d}x} = 1, \quad x, y > 0$

۱۲۰۹۵ سوال ۷.۷۱۴: $\frac{\mathrm{d}y}{\mathrm{d}x} = x^2\sqrt{y}, \quad y > 0$

۱۲۰۹۶ سوال ۷.۷۱۵: $\frac{\mathrm{d}y}{\mathrm{d}x} = e^{x-y}$

۱۲۰۹۷ سوال ۷.۷۱۶: $\frac{\mathrm{d}y}{\mathrm{d}x} = \frac{2x^2+1}{xe^y}, \quad x > 0$

۱۲۰۹۸ **خطی یک رتبی مساوات**

۱۲۰۹۹ سوال ۷.۷۱۷ تا سوال ۷.۷۲۲ میں تفرقی مساوات حل کریں۔

۱۲۱۰۰ سوال ۷.۷۱۷: $x\frac{\mathrm{d}y}{\mathrm{d}x} + y = e^x, \quad x > 0$

۱۲۱۰۱ سوال ۷.۷۱۸: $e^x\frac{\mathrm{d}y}{\mathrm{d}x} + 2e^x y = 1$

۱۲۱۰۲ سوال ۷.۷۱۹: $xy' + 3y = \frac{\sin x}{x^2}, \quad x > 0$

۱۲۱۰۳ سوال ۷.۷۲۰: $y' + (\tan x)y = \cos^2 x, \quad -\frac{\pi}{2} < x < \frac{\pi}{2}$

۱۲۱۰۴ سوال ۷.۷۲۱: $x\frac{\mathrm{d}y}{\mathrm{d}x} + 2y = 1 - \frac{1}{x}, \quad x > 0$

۱۲۱۰۵ سوال ۷.۷۲۲: $(1+x)y' + y = \sqrt{x}$

۱۲۱۰۶ **یک رتبی مساوات**

۱۲۱۰۷ سوال ۷.۷۲۳ تا سوال ۷.۷۳۶ میں تفرقی مساوات حل کریں۔

۱۲۱۰۸ سوال ۷.۷۲۳: $2y' = e^{x/2} + y$

۱۲۱۰۹ سوال ۷.۷۲۴: $\sqrt{x}\frac{\mathrm{d}y}{\mathrm{d}x} = e^{y+\sqrt{x}}, \quad x > 0$

۱۲۱۱۰ سوال ۷.۷۲۵: $e^{2x}y' + 2e^{2x}y = 2x$

۱۲۱۱۱ سوال ۷.۷۲۶: $xy' - y = 2x\ln x$

۱۲۱۱۲ سوال ۷.۷۲۷: $\sec x\frac{\mathrm{d}y}{\mathrm{d}x} = e^{y+\sin x}$

۱۲۱۱۳ سوال ۷.۷۲۸: $x\frac{\mathrm{d}y}{\mathrm{d}x} = \frac{\cos x}{x} - 2y, \quad x > 0$

۱۲۱۱۴ سوال ۷.۷۲۹: $(t-1)^3\frac{\mathrm{d}s}{\mathrm{d}t} + 4(t-1)^2 s = t+1, \quad t > 1$

۱۲۱۱۵ سوال ۷.۷۳۰: $(t+1)\frac{\mathrm{d}s}{\mathrm{d}t} + 2s = 3(t+1) + \frac{1}{(t+1)^2}, \quad t > -1$

۱۲۱۱۶ سوال ۷.۷۳۱: $(\sec^2\sqrt{x})\frac{\mathrm{d}x}{\mathrm{d}t} = \sqrt{x}$

۱۲۱۱۷ سوال ۷.۷۳۲: $\sin t - (x\cos^2 t)\frac{\mathrm{d}x}{\mathrm{d}t} = 0, \quad -\frac{\pi}{2} < t < \frac{\pi}{2}$

۱۲۱۱۸ سوال ۷.۷۳۳: $\sin\theta\frac{\mathrm{d}r}{\mathrm{d}\theta} + (\cos\theta)r = \tan\theta, \quad 0 < \theta < \frac{\pi}{2}$

۱۲۱۹ سوال ۷.۷۳۴: $\tan\theta\frac{\mathrm{d}r}{\mathrm{d}\theta} + r = \sin^2\theta, \quad 0 < \theta < \frac{\pi}{2}$

۱۲۲۰ سوال ۷.۷۳۵: $\cosh x\frac{\mathrm{d}y}{\mathrm{d}x} + (\sinh x)y = e^{-x}$

۱۲۲۱ سوال ۷.۷۳۶: $\sinh x\frac{\mathrm{d}y}{\mathrm{d}x} + 3(\cosh x)y = \cosh x\sinh x$

۱۲۲۲ **ابتدائی قیمت مسائل کا حل**

۱۲۲۳ سوال ۷.۷۳۷ تا سوال ۷.۷۴۲ میں ابتدائی قیمت مسائل حل کریں۔

۱۲۲۴ سوال ۷.۷۳۷: $\frac{\mathrm{d}y}{\mathrm{d}t} + 2y = 3; \quad y(0) = 1$

۱۲۲۵ سوال ۷.۷۳۸: $t\frac{\mathrm{d}y}{\mathrm{d}t} + 2y = t^3, \quad t > 0; \quad y(2) = 1$

۱۲۲۶ سوال ۷.۷۳۹: $\theta\frac{\mathrm{d}y}{\mathrm{d}\theta} + y = \sin\theta, \quad \theta > 0; \quad y(\pi/2) = 1$

۱۲۲۷ سوال ۷.۷۴۰: $\theta\frac{\mathrm{d}y}{\mathrm{d}\theta} - 2y = \theta^3\sec\theta\tan\theta, \quad \theta > 0; \quad y(\pi/3) = 2$

۱۲۲۸ سوال ۷.۷۴۱: $(x+1)\frac{\mathrm{d}y}{\mathrm{d}x} - 2(x^2+x)y = \frac{e^{x^2}}{x+1}, \quad x > -1; \quad y(0) = 5$

۱۲۲۹ سوال ۷.۷۴۲: $\frac{\mathrm{d}y}{\mathrm{d}x} + xy = x, \quad y(0) = -6$

۱۲۳۰ سوال ۷.۷۴۳: درج ذیل ابتدائی قیمت مساوات کو مسئلہ ۷.۴ سے حل کرتے ہوئے کیا حاصل ہوتا ہے۔ یہاں y متغیر t کا تفاعل ہے۔

۱۲۳۱ $\frac{\mathrm{d}y}{\mathrm{d}t} = ky, \quad$ مستقل $k; \quad y(0) = y_0$

۱۲۳۲ سوال ۷.۷۴۴: درج ذیل ابتدائی قیمت مسئلے کو مسئلہ ۷.۴ کی مدد سے حل کریں جہاں v متغیر t کا تفاعل ہے۔

۱۲۳۳ $\frac{\mathrm{d}v}{\mathrm{d}t} + \frac{k}{m}v, \quad$ اور m مستقل ہیں $k; \quad v(0) = v_0$

۱۲۳۴ **نظریہ اور استعمال**

۱۲۳۵ سوال ۷.۷۴۵: کیا درج ذیل میں سے کوئی مساوات درست ہے؟ اپنے جواب کی وجہ پیش کریں۔

(الف) $$x\int\frac{1}{x}\,\mathrm{d}x = x\ln|x| + C$$

(ب) $$x\int\frac{1}{x}\,\mathrm{d}x = x\ln|x| + Cx$$

۱۲۳۶ سوال ۷.۷۴۶: کیا درج ذیل میں سے کوئی مساوات درست ہے؟ اپنے جواب کی وجہ پیش کریں۔

(الف) $$\frac{1}{\cos x}\int\cos x\,\mathrm{d}x = \tan x + C$$

(ب) $$\frac{1}{\cos x}\int\cos x\,\mathrm{d}x = \tan x + \frac{C}{\cos x}$$

سوال ۷.۷۴۷: شکر خون

ایک مریض کو مستقل شرح سے گلوکوز کی خوراک درون وریدی کھلائی جاتی ہے۔ وقت کے لحاظ سے خون میں گلوکوز کی ارتکاز $c(t)$ کو درج ذیل تفرقی مساوات سے ظاہر کیا جا سکتا ہے جہاں G ، V اور k مثبت مستقل ہیں۔

$$\frac{\mathrm{d}c}{\mathrm{d}t} = \frac{G}{100V} - kc$$

فی منٹ ملی گرام میں گلوکوز کی شرح G ہے جبکہ بدن میں خون کا حجم V لٹر ہے جو بالغ شخص کے لئے تقریباً 5 L ہو گا۔ ارتکاز $c(t)$ کو ملی گرام فی دس مربع سنٹی میٹر ناپا جاتا ہے۔ جزو $-kc$ کو اس لئے شامل کیا گیا ہے کہ گلوکوز مسلسل دیگر اجزاء میں تبدیل ہو گا اور اس تبدیلی کی شرح اس وقت پائے جانے والی گلوکوز کے راست متناسب ہو گی۔ (ا) $c(0)$ کو c_0 سے ظاہر کرتے ہوئے اس مساوات کو حل کریں۔ (ب) برقرار حال ارتکاز $\lim_{t\to\infty} c(t)$ تلاش کریں۔

سوال ۷.۷۴۸: مسلسل سود در سود

آپ بنک سے 1000 روپیہ قرضہ لیتے ہیں اور ہر سال مزید 1000 روپیہ بنک سے قرض کرتے ہیں۔ آپ کو 10 % سالانہ مسلسل سود در سود دینا ہو گا۔ t سال بعد آپ کی واجب الادار قم x درج ذیل ابتدائی قیمت مسئلہ دیتی ہے۔

$$\frac{\mathrm{d}x}{\mathrm{d}t} = 1000 + 0.1x, \quad x(0) = 1000$$

(ا) اس مساوات کو حل کریں۔ (ب) آپ کی واجب الادار قم کتنے سالوں میں 100 000 ہو گی؟

سوال ۷.۷۴۹: حوض خالی کرنے کے لئے درکار وقت

ایک پانی سے بھرے ہوئے انتصابی بیلنی حوض کی تہہ میں نسب نلکی کو کھول کر حوض خالی کا جاتا ہے۔ شروع میں پانی کی نکاسی تیز ہوتی ہے لیکن جیسے جیسے پانی کی سطح گرتی ہے، پانی کی نکاسی بھی آہستہ ہوتی جاتی ہے۔ ایسی صورت میں پانی کی گہرائی کی شرح تبدیلی، گہرائی y کے جذر کے راست متناسب ہوتی ہے:

$$\frac{\mathrm{d}y}{\mathrm{d}t} = -k\sqrt{y}$$

مستقل k کی قیمت ثقلی اسراع، نلکی کے سوراخ کی شکل اور حوض کے رقبہ عمودی تراش پر منحصر ہوتی ہے۔

فرض کریں t کو منٹوں میں ناپا جاتا ہے اور $k = \frac{1}{10}$ ہو۔ اگر پانی کی گہرائی 4 m ہو تب حوض کتنی دیر میں خالی ہو گا؟

سوال ۷.۷۵۰: گریزی رفتار

ہوا سے خالی چاند پر کمیت m کے جسم پر ثقلی قوت $F = -\frac{GMm}{s^2} = -\frac{GMm}{R^2}\frac{R^2}{s^2} = -\frac{mgR^2}{s^2}$ عمل کرتی ہے جہاں چاند کے مرکز سے جسم تک فاصلہ s اور چاند کا رداس R ہے (شکل ۷.۶۷)۔ چونکہ قوت F نیچے رخ عمل کرتا ہے لہٰذا اس کو منفی لکھا گیا ہے۔ (ا) ایک جسم کو $t = 0$ پر سطح چاند سے v_0 رفتار کے ساتھ اوپر پھینکا جاتا ہے۔ قانون نیوٹن $F = ma$ استعمال کرتے ہوئے دکھائیں کہ مقام s پر جسم کی رفتار درج ذیل ہو گی۔

$$v^2 = \frac{2gR^2}{s} + v_0^2 - 2gR$$

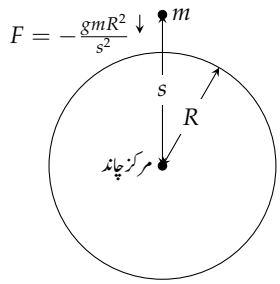

شکل ۷.۶۷: چاند پر قوت کشش

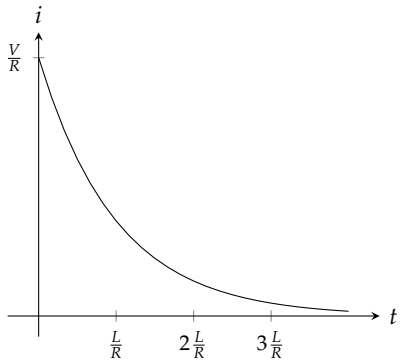

شکل ۷.۶۸: تنزل برقی رو (سوال ۷.۷۵۴)

یوں جب تک $v_0 \geq \sqrt{2gR}$ ہو، رفتار مثبت رہے گی۔ رفتار $v_0 = \sqrt{2gR}$ چاند کی **گریزی رفتار**[۳۶] کہلاتی ہے۔ جس جسم کو اس رفتار یا اس سے زیادہ رفتار سے سطح چاند سے اوپر پھینکا جائے، وہ جسم چاند پر واپس نہیں گرے گا۔ (ب) دکھائیں کہ اگر $v_0 = \sqrt{2gR}$ ہو تب درج ذیل ہو گا۔

$$s = R\left(1 + \frac{3v_0}{2R}t\right)^{2/3}$$

سمتی رفتار کے راستے مزاحمت

سوال ۷.۷۵۱: ایک سائکل سوار $21.6\,\mathrm{km\,h^{-1}}$ رفتار سے چلتے ہوئے پیڈل گھمانا بند کرتا ہے۔ مساوات ۹ میں $k = \frac{20}{7}\,\mathrm{kg\,s^{-1}}$ لیں اور سائکل سوار کی کمیت $80\,\mathrm{kg}$ ہے۔ (ا) سائکل سوار کتنا فاصلہ طے کر کے رکے گا۔ (ب) کتنی دیر بعد سائکل سوار کی رفتار $0.5\,\mathrm{m\,s^{-1}}$ ہو گی؟

سوال ۷.۷۵۲: ایک بحری جہاز جس کی کمیت $2.5 \times 10^7\,\mathrm{kg}$ ہے کے لئے مساوات ۹ میں $k = 44\,000\,\mathrm{kg\,s^{-1}}$ ہے۔ اس بحری جہاز کی رفتار $24\,\mathrm{km\,h^{-1}}$ ہوتی ہے جب اس کا انجن کام کرنا چھوڑ دیتا ہے۔ (ا) یہ بحری جہاز کتنا فاصلہ طے کرنے کے بعد رکے گا؟ (ب) اس کی رفتار کتنی دیر میں $0.25\,\mathrm{m\,s^{-1}}$ تک ہو گی؟

RL ادوار

سوال ۷.۷۵۳: سلسلہ وار RL دور میں برقی رو

ایک سلسلہ وار RL دور پر لمحہ $t = 0$ پر برقی دباو لاگو کیا جاتا ہے۔ کتنی دیر میں برقرار حال برقی رو کی نصف قیمت تک دور میں برقی رو پہنچے گا؟ آپ دیکھیں گے کہ جواب کا دارومدار R اور L کی قیمتوں پر ہو گا نا کہ لاگو برقی دباو کی قیمت پر۔

---

[۳۶] escapevelocity

سوال ۷.۷۵۴: تنزل برقی رو

سلسلہ وار RL دور میں ابتدائی طور پر I_0 برقی رو پائی جاتی ہے جو درج ذیل مساوات کے تحت وقت کے ساتھ گھٹتی ہے (شکل ۷.۶۸)۔

$$L\frac{\mathrm{d}i}{\mathrm{d}t} + Ri = 0$$

(ا) اس مساوات کو برقی رو i کے لئے حل کریں۔ (ب) برقی رو کتنی دیر میں $\frac{I_0}{2}$ ہو گی؟ (ج) لمحہ $t = \frac{L}{R}$ پر i کتنا ہو گا۔

سوال ۷.۷۵۵: وقتی مستقل

مستقل $\frac{L}{R}$ کو مہندس RL دور کا **وقتی مستقل**[۳۷] کہتے ہیں۔ تقریباً 3 وقتی مستقل دورانیہ میں برقی رو برقرار حال قیمت کے 95 % قیمت تک پہنچ پاتا ہے۔ یوں وقتی مستقل سے ہم معلوم کر سکتے ہیں کہ دور کتنا جلدی برقرار حاصل اختیار کرے گا۔ (ا) مساوات ۱۳ میں لمحہ $t = 3\frac{L}{R}$ پر i تلاش کریں۔ یہ برقرار حال برقی رو کی 95 % قیمت ہو گی۔ (ب) لمحہ $t = 2\frac{L}{R}$ پر مساوات ۱۳ کتنی برقی رو دیتی ہے؟

سوال ۷.۷۵۶: آئیں مساوات ۱۳ حاصل کرتے ہیں۔

ا. مسئلہ ۷.۴ کی مدد سے دکھائیں کہ

$$\frac{\mathrm{d}i}{\mathrm{d}t} + \frac{R}{L}i = \frac{V}{L}$$

کا حل درج ذیل ہے۔

$$i = \frac{V}{R} + Ce^{-(R/L)t}$$

ب. ابتدائی معلومات $i(0) = 0$ استعمال کرتے ہوئے مستقل C کی قیمت دریافت کریں۔ یوں مساوات ۱۳ حاصل ہوتی ہے۔

ج. دکھائیں کہ $i = \frac{V}{R}$ مساوات ۱۲ کا حل ہے اور درج ذیل $i = Ce^{-(R/L)t}$ کو مطمئن کرتی ہے۔

$$\frac{\mathrm{d}i}{\mathrm{d}t} + \frac{R}{L}i = 0$$

مرکب کے مسائل

ایک کیمیا جو مائع (یا گیس) کی صورت میں ہے کو ایک برتن میں ڈالا جاتا ہے جس میں پہلے سے کوئی مائع (یا گیس) موجود ہے اور عین ممکن ہے کہ اسی کیمیا کی مخصوص مقدار بھی اس برتن میں پہلے سے موجود ہو۔ مرکب کو مسلسل ہلا کر یکساں رکھتے ہوئے برتن سے اس کی نکاسی مستقل شرح سے کی جاتی ہے۔ ہم چاہتے ہیں کہ ہمیں برتن میں کیمیا کی لمحاتی مقدار معلوم ہو۔ درج ذیل مساوات پر مبنی تفرقی مساوات اس عمل کو بیان کرتی ہے۔

$$\text{(کیمیا کی شرح اخراج)} - \text{(کیمیا کی شرح آمد)} = \text{برتن میں کیمیا کی مقدار کی شرح تبدیلی} \qquad (۱۴)$$

---

[۳۷] timeconstant

۱۲۱۸۷ گر لمحہ t پر برتن میں کیمیا کی مقدار $y(t)$ اور برتن میں مواد کا کل حجم $V(t)$ ہو تب کیمیا کے اخراج کی شرح درج ذیل ہو گی۔

$$\begin{aligned} \text{انعکاس کیمیا} &= \frac{y(t)}{V(t)} \cdot (\text{شرح انعکاس مائع}) \\ &= (\text{شرح انعکاس مائع}) \cdot (\text{لمحہ } t \text{ پر برتن میں ارتکاز}) \end{aligned} \tag{۱۵}$$

۱۲۱۸۸ یوں مساوات ۱۴ کو درج ذیل لکھا جا سکتا ہے۔

$$\frac{\mathrm{d}y}{\mathrm{d}t} = (\text{شرح آمد کیمیا}) - \frac{y(t)}{V(t)} \cdot (\text{شرح انعکاس مائع}) \tag{۱۶}$$

۱۲۱۸۹ سوال ۷.۷۵۷: ایک حوض میں ابتدائی طور پر 500 لٹر نمکین پانی پایا جاتا ہے جس میں 25 kg نمک حل ہے۔ اس حوض میں $5\ \mathrm{L\,min^{-1}}$
۱۲۱۹۰ شرح سے نمکین پانی داخلی ہوتا ہے جس میں $0.4\ \mathrm{kg\,L^{-1}}$ نمک ملا ہوا ہے جبکہ حوض سے نمکین پانی کا انخلا $4\ \mathrm{L\,min^{-1}}$ ہے۔ حوض میں نمکین
۱۲۱۹۱ پانی کو مسلسل ہلا کر یکساں رکھا جات ہے۔

۱۲۱۹۲ ا. حوض میں نمک داخل ہونے کی شرح ($\mathrm{kg\,min^{-1}}$) کیا ہے؟

۱۲۱۹۳ ب. لمحہ t پر حوض میں نمکین پانی کا حجم کتنا ہے؟

۱۲۱۹۴ ج. لمحہ t پر نمک کس شرح ($\mathrm{kg\,min^{-1}}$) سے حوض سے خارج ہوتا ہے؟

۱۲۱۹۵ د. مرکب بنانے کے اس عمل کا ابتدائی قیمت مسئلہ لکھیں اور اس کو حل کریں۔

۱۲۱۹۶ ھ. عمل شروع ہونے کے 25 منٹ بعد حوض میں نمک کا ارتکاز کتنا ہو گا؟

۱۲۱۹۷ سوال ۷.۷۵۸: تیل صاف سازی کے کارخانہ میں ایک حوض میں 10 000 L تیل پایا جاتا ہے جس میں ابتدائی طور پر 50 kg اضافی مادہ شامل
۱۲۱۹۸ ہے۔ سردی کے موسم کی وجہ سے اس میں 0.4 kg فی لٹر اضافی مواد کو $200\ \mathrm{L\,min^{-1}}$ شامل کیا جاتا ہے۔ حوض میں تیل کو اچھی طرح ہلا کر یکساں
۱۲۱۹۹ رکھا جاتا ہے۔ حوض سے مرکب کے انعکاس کی شرح $225\ \mathrm{L\,min^{-1}}$ ہے۔ اس عمل کے شروع ہونے کے 20 منٹ بعد حوض میں اضافی مواد کی
۱۲۲۰۰ مقدار معلوم کریں۔

۱۲۲۰۱ سوال ۷.۷۵۹: ایک حوض میں 500 L خالص پانی پایا جاتا ہے۔ ایک محلول جس میں $0.1\ \mathrm{kg\,L^{-1}}$ پایا کھاد پایا جاتا ہے کو $5\ \mathrm{L\,min^{-1}}$
۱۲۲۰۲ شرح سے حوض میں شامل کیا جاتا ہے۔ حوض سے محلول کا انعکاس $15\ \mathrm{L\,min^{-1}}$ ہے۔ حوض میں کھاد کی زیادہ سے زیادہ مقدار معلوم کریں اور اس
۱۲۲۰۳ مقدار تک پہنچنے کے لئے درکار وقت معلوم کریں۔

۱۲۲۰۴ سوال ۷.۷۶۰: دفتر کے ایک کمرے میں ابتدائی طور پر $150\ \mathrm{m^3}$ صاف ہوا پائی جاتی ہے۔ لمحہ $t = 0$ پر قریبی کمرے میں موجود افسران
۱۲۲۰۵ سگریٹ نوشی شروع کرتے ہیں جس کی وجہ سے 4 % زہریلی کاربن مونو اکسائڈ $0.01\ \mathrm{m^3\,min^{-1}}$ شرح سے اس کمرے میں داخل ہوتی ہے جہاں
۱۲۲۰۶ ایک پنکھا پوری ہوا کو یکساں رکھتا ہے۔ اس کمرے سے ہوا کا انخلا $0.01\ \mathrm{m^3\,min^{-1}}$ ہے۔ اس کمرے میں کب زہریلی گیس 0.01 % ہو گی؟

۱۲۲۰۷

۱۲۲۰۸

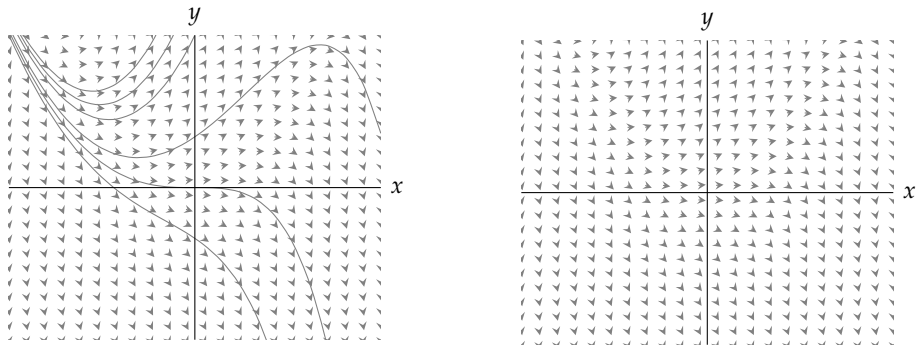

(ا) میدان ڈھلوان (ب) میدان ڈھلوان پر مخصوص منحنی حل۔

شکل ۷.۶۹: تفرقی مساوات $y' = y - x^2$ کے میدان ڈھلوان پر منحنی حل ترسیم کی گئی ہیں۔ کمپیوٹر پر میدان ڈھلوان کو عموماً سمتیات سے ظاہر کیا جاتا ہے اگرچہ ڈھلوان سمتیہ نہیں ہے۔

۷.۱۲ یولر کی اعدادی ترکیب؛ میدان ڈھلوان

بعض اوقات ہم ابتدائی قیمت مسئلہ $y(x_0) = y_0$ ، $y = f(x, y)$ کا بالکل درست حل معلوم نہیں کر سکتے ہیں یا نہیں کرنا چاہتے ہیں۔ ایسی صورت میں ہم عموماً کمپیوٹر استعمال کرتے ہوئے موزوں وقفہ پر ہر x کے لئے y کی تخمینی قیمت تلاش کر سکتے ہیں۔ ایسے حل کو ہم **اعدادی حل**[۳۸] کہتے ہیں اور اس حل کو حاصل کرنے کے طریقہ کو **اعدادی ترکیب**[۳۹] کہتے ہیں۔ اعدادی تراکیب عموماً بہت کم وقت میں درست نتائج دیتے ہیں اور جہاں بھی تحلیلی حل ناممکن، غیر ضروری یا پیچیدہ ہو، وہاں اعدادی تراکیب کو ترجیح دی جاتی ہے۔ اس حصہ میں ہم ایسے ایک ترکیب پر غور کرتے ہیں جس کو **ترکیب یولر**[۴۰] کہتے ہیں۔

میدان ڈھلوان

ابتدائی معلومات $y(x_0) = y_0$ تفرقی مساوات $y' = f(x, y)$ پر یہ شرط مسلط کرتی ہے کہ تفرقی مساوات کا حل نقطہ (x_0, y_0) سے گزرے گا اور اس نقطہ ہر حل کا ڈھلوان $f(x_0, y_0)$ ہو گا۔ ہم f کے دائرہ کار میں منتخب نقطوں (x, y) پر $f(x, y)$ ڈھلوان والے قلیل سیدھے خطوط بنا کر اس ڈھلوان کو تصویری جامہ پہنا سکتے ہیں۔ نقطہ (x, y) سے گزرتے ہوئے حل کا ڈھلوان اس نقطہ پر بنائے گئے قلیل خط کے ڈھلوان کا برابر ہو گا لہٰذا یہ خط اس نقطہ پر حل کا مماس ہو گا۔ ہم ان مماس پر نظر دوڑا کر حل کے رویہ کو جان سکتے ہیں (شکل ۷.۶۹)۔

قلم و کاغذ کے ساتھ میدان ڈھلوان بنانا تھکا دینے والا کام ہے۔ اس کتاب میں تمام مثالوں میں میدان ڈھلوان کمپیوٹر کی مدد سے بنائے گئے۔ آئیں کمپیوٹر کی مدد سے منحنی حل کے حصول پر غور کریں۔

---

[۳۸] numericalsolution
[۳۹] numericalmethod
[۴۰] Euler'method

خط بندی کا استعمال

دیے گئے تفرقی مساوات $\frac{\mathrm{d}y}{\mathrm{d}x} = f(x, y)$ اور ابتدائی معلومات $y(x_0) = y_0$ سے ہم منحنی حل $y = y(x)$ کی تخمین درج ذیل خط بندی

$$L(x) = y(x_0) + \left.\frac{\mathrm{d}y}{\mathrm{d}x}\right|_{x=x_0} (x - x_0)$$

یا

$$L(x) = y_0 + f(x_0, y_0)(x - x_0)$$

سے کر سکتے ہیں۔ x_0 کی بالکل پڑوس میں تفاعل $L(x)$ اصل حل $y(x)$ کا اچھا تخمین ہو گا (شکل ۷.۷۰)۔ ترکیب یولر میں اس طرح کے خط بندیوں کو آپس میں جوڑ کر زیادہ لمبے فاصلہ کے لئے حل تلاش کیا جاتا ہے۔ اب اس ترکیب پر غور کرتے ہیں۔

ہم جانتے ہیں کہ نقطہ (x_0, y_0) منحنی حل پر پایا جاتا ہے۔ فرض کریں ہم غیر تابع متغیر کی ایک نئی قیمت $x_0 = x_0 + \mathrm{d}x$ منتخب کرتے ہیں۔ اگر بڑھوتری $\mathrm{d}x$ بہت کم ہو تب

$$y_1 = L(x_1) = y_0 + f(x_0, y_0)\,\mathrm{d}x$$

اصل حل $y = y(x_1)$ کا اچھا تخمین ہو گا۔ یوں نقطہ (x_0, y_0) سے، جو ٹھیک منحنی حل پر پایا جاتا ہے، ہم نقطہ (x_1, y_1) حاصل کر پائیں ہیں جو منحنی حل پر نقطہ $(x_1, y(x_1))$ کے بہت قریب ہو گا۔

نقطہ (x_1, y_1) اور ڈھلوان $f(x_1, y_1)$ لیتے ہوئے ہم دوسرا قدم لیتے ہیں۔ ہم $x_2 = x_1 + \mathrm{d}x$ لے کر

$$y_2 = y_1 + f(x_1, y_1)\,\mathrm{d}x$$

سے، منحنی حل $y = y(x)$ کے ساتھ، دوسرا تخمینی نقطہ (x_2, y_2) حاصل کرتے ہیں (شکل ۷.۷۱)۔ اسی طرح چلتے ہوئے تیسرے قدم پر ہم نقطہ (x_2, y_2) اور ڈھلوان $f(x_2, y_2)$ سے

$$y_3 = y_2 + f(x_2, y_2)\,\mathrm{d}x$$

حاصل کرتے ہیں، وغیرہ وغیرہ۔

مثال ۷.۸۴: درج ذیل ابتدائی قیمت مسئلے کے لئے ترکیب یولر کی مدد سے ابتدائی تین تخمین y_1 ، y_2 اور y_3 حاصل کریں۔

$$y' = 1 + y, \quad y(0) = 1$$

ابتدا $x_0 = 0$ سے کریں اور $\mathrm{d}x = 0.1$ لیں۔

حل: **قدم اول:**

$$\begin{aligned} y_1 &= y_0 + f(x_0, y_0)\,\mathrm{d}x \\ &= y_0 + (1 + y_0)\,\mathrm{d}x \\ &= 1 + (1 + 1)(0.1) = 1.2 \end{aligned}$$

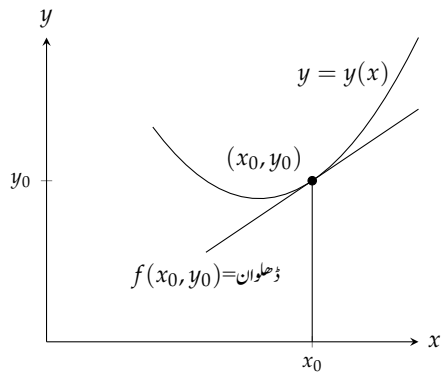

شکل ۷.۷۰: خط مماس کی مساوات $y = L(x) = y_0 + f(x_0, y_0)(x - x_0)$ ہے۔

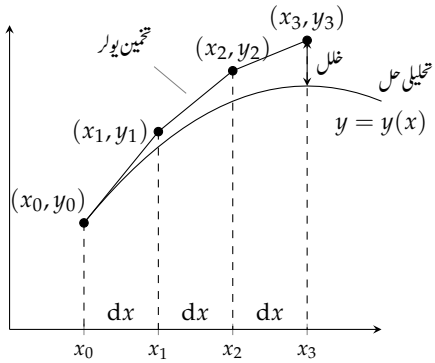

شکل ۷.۷۱: ترکیب یولر کی مدد سے ابتدائی قیمت مسئلہ $y' = f(x, y),\ y(x_0) = y_0$ کے ابتدائی تین نقطوں کا حصول۔ ہر قدم پر مجموعی خلل بڑھتا ہے۔

۱۲۲۳۹ **قدم دوم:**

$$\begin{aligned} y_2 &= y_1 + f(x_1, y_1)\,\mathrm{d}x \\ &= y_1 + (1 + y_1)\,\mathrm{d}x \\ &= 1.2 + (1 + 1.2)(0.1) = 1.42 \end{aligned}$$

۱۲۲۴۰ **قدم سوم:**

$$\begin{aligned} y_3 &= y_2 + f(x_2, y_2)\,\mathrm{d}x \\ &= y_2 + (1 + y_2)\,\mathrm{d}x \\ &= 1.42 + (1 + 1.42)(0.1) = 1.662 \end{aligned}$$

۱۲۲۴۱ □

۱۲۲۴۲ **ترکیب یولر**

۱۲۲۴۳ ترکیب یولر سے ابتدائی قیمت مسئلہ

$$y' = f(x, y), \quad y(x_0) = y_0$$

کے حل کی تخمینی قیمتیں حاصل ہوتی ہیں۔ اگر ہم غیر تابع متغیر کے منتخب کردہ قیمتوں کے بیچ یکساں فاصلہ رکھیں اور n عدد ایسے نقطے منتخب کریں تب درج ذیل ہوں گے۔

$$\begin{aligned} x_1 &= x_0 + \mathrm{d}x \\ x_2 &= x_1 + \mathrm{d}x \\ &\vdots \\ x_n &= x_{n-1} + \mathrm{d}x \end{aligned} \tag{۱}$$

اس کے بعد ہم متواتر درج ذیل حاصل کرتے ہیں۔

$$\begin{aligned} y_1 &= y_0 + f(x_0, y_0)\,\mathrm{d}x \\ y_2 &= y_1 + f(x_1, y_1)\,\mathrm{d}x \\ &\vdots \\ y_n &= y_{n-1} + f(x_{n-1}, y_{n-1})\,\mathrm{d}x \end{aligned} \tag{۲}$$

ہم قدموں کی تعداد n جتنی چاہیں رکھ سکتے ہیں، البتہ، n کو بہت بڑا رکھنے سے نتائج میں خلل جمع ہو گا۔

مثال ۷.۸۵: درج ذیل ابتدائی قیمت مسئلہ کے لئے وقفہ $0 \le x \le 1$ پر ترکیب یولر کی درستگی پر غور کریں۔

$$y' = 1 + y, \quad y(0) = 1$$

$x_0 = 0$ سے شروع کریں اور $\mathrm{d}x = 0.1$ لیں۔

حل: اس مسئلے کا بالکل درست تحلیلی حل $y = 2e^x - 1$ ہے۔ جدول ۷.۱۳ میں، مساوات ۱۱ اور مساوات ۱۲ استعمال کرتے ہوئے، ترکیب یولر سے حاصل 4 اعشاریہ درست تخمینی نتائج کا تحلیلی حل کے ساتھ موازنہ کیا گیا ہے۔ دس قدم بعد $x = 1$ تک پہنچ کر ترکیب یولر سے حاصل تخمینی حل میں 5.6 % خلل پایا جاتا ہے۔ □

مثال ۷.۸۶: درج ذیل ابتدائی قیمت مسئلہ کے لئے وقفہ $0 \le x \le 1$ پر ترکیب یولر کی درستگی پر غور کریں۔

$$y' = 1 + y, \quad y(0) = 1$$

شروع $x_0 = 0$ سے کریں اور $\mathrm{d}x = 0.05$ لیں۔

حل: جدول ۷.۱۴ میں نتائج اور تحلیلی بالکل ٹھیک حل کے ساتھ موازنہ کیا گیا ہے۔ آپ دیکھ سکتے ہیں کہ قدموں کی تعداد 10 سے 20 کرنے سے خلل کم ہوتا ہے۔ اس مرتبہ $x = 1$ پر صرف 2.9 % خلل پایا جاتا ہے۔ □

ایسا معلوم ہوتا ہے کہ ترکیب یولر میں قدموں کی تعداد مزید بڑھا کر اس سے بھی بہتر نتیجہ حاصل ہو گا۔ حقیقت میں ایسا کرنے سے نا صرف کمپیوٹر کو حل حاصل کرنے میں زیادہ وقت درکار ہو گا بلکہ کمپیوٹر میں ہندسوں کی تعداد پر پابندی کی وجہ سے پیدا پور وپور خلل بڑھتا ہے۔

جدول ۷.۱۳: تحلیلی حل اور ترکیب یولر سے حاصل تخمینی حل کا موازنہ (مثال ۷.۸۵)

x	تخمینی y	تحلیلی y	خلل = تخمینی y − تحلیلی y
0.0	1.0000	1.0000	0.0000
0.1	1.2000	1.2103	0.0103
0.2	1.4200	1.4428	0.0228
0.3	1.6620	1.6997	0.0377
0.4	1.9282	1.9836	0.0554
0.5	2.2210	2.2974	0.0764
0.6	2.5431	2.6442	0.1011
0.7	2.8974	3.0275	0.1301
0.8	3.2872	3.4511	0.1639
0.9	3.7159	3.9192	0.2033
1.0	4.1875	4.4366	0.2491

جدول ۷.۱۴: ترکیب یولر میں قدموں کی تعداد بڑھانے سے خلل میں کمی پیدا ہوتی ہے (مثال ۷.۸۶)۔

x	تخمینی y	تحلیلی y	خلل = تخمینی y − تحلیلی y
0.00	1.0000	1.0000	0.0000
0.05	1.1000	1.1025	0.0025
0.10	1.2050	1.2103	0.0053
0.15	1.3153	1.3237	0.0084
0.20	1.4310	1.4428	0.0118
0.25	1.5526	1.5681	0.0155
0.30	1.6802	1.6997	0.0195
0.35	1.8142	1.8381	0.0239
0.40	1.9549	1.9836	0.0287
0.45	2.1027	2.1366	0.0339
0.50	2.2578	2.2974	0.0396
0.55	2.4207	2.4665	0.0458
0.60	2.5917	2.6442	0.0525
0.65	2.7713	2.8311	0.0598
0.70	2.9599	3.0275	0.0676
0.75	3.1579	3.2340	0.0761
0.80	3.3657	3.4511	0.0854
0.85	3.5840	3.6793	0.0953
0.90	3.8132	3.9192	0.1060
0.95	4.0539	4.1714	0.1175
1.00	4.3066	4.4366	0.1300

خلل اور اس کو کم کرنے کے طریقوں پر یہاں غور نہیں کیا جائے گا۔ انہیں سمجھنے کے لئے مزید اعلیٰ درجے کی نصاب درکار ہو گی۔ ترکیب یولر سے زیادہ بہتر اعدادی تراکیب پائے جاتے ہیں جنہیں تفرقی مساوات پڑھنے کے دوران سیکھیں گے۔ اعدادی ترکیب میں قدموں کی تعداد اور خلل کے تعلق پر غور کرنے کے لئے آپ کو سوالات میں موقع ملے گا۔

سوالات

تخمین یولر

سوال ۷.۶۱ تا سوال ۷.۶۶ میں ترکیب یولر سے دیے گئے ابتدائی قیمت مسئلہ کے اولین تین تخمینی قیمتیں تلاش کریں۔ دیا گیا قدم استعمال کریں۔ مسئلے کا تحلیلی حل تلاش کریں اور اپنے تخمین کی درستگی پر غور کریں۔ اپنے نتائج کو 4 اعشاریہ درست رکھیں۔

سوال ۷.۶۱: $y' = 1 - \frac{y}{x}, \quad y(2) = -1, \quad \mathrm{d}x = 0.5$

سوال ۷.۶۲: $y' = x(1-y), \quad y(1) = 0, \quad \mathrm{d}x = 0.2$

سوال ۷.۶۳: $y' = 2xy + 2y, \quad y(0) = 3, \quad \mathrm{d}x = 0.2$

سوال ۷.۶۴: $y' = y^2(1+2x), \quad y(-1) = 1, \quad \mathrm{d}x = 0.5$

سوال ۷.۶۵: $y' = 2xe^{x^2}, \quad y(0) = 2, \quad \mathrm{d}x = 0.1$

سوال ۷.۶۶: $y' = y + e^x - 2, \quad y(0) = 2, \quad \mathrm{d}x = 0.5$

سوال ۷.۶۷: ترکیب یولر استعمال کرتے ہوئے $\mathrm{d}x = 0.2$ لے کر $y' = y, y(0) = 1$ کے لئے $y(1)$ تلاش کریں۔ $y(1)$ کی ٹھیک ٹھیک قیمت کتنی ہے؟

سوال ۷.۶۸: ترکیب یولر استعمال کرتے ہوئے $\mathrm{d}x = 0.2$ لے کر $y' = \frac{y}{x}, y(1) = 2$ کے لئے $y(2)$ تلاش کریں۔ $y(2)$ کی ٹھیک ٹھیک قیمت کتنی ہے؟

سوال ۷.۶۹: ترکیب یولر استعمال کرتے ہوئے $\mathrm{d}x = 0.5$ لے کر $y' = \frac{y^2}{\sqrt{x}}, y(1) = -1$ کے لئے $y(5)$ تلاش کریں۔ $y(5)$ کی ٹھیک ٹھیک قیمت کتنی ہے؟

سوال ۷.۷۰: ترکیب یولر استعمال کرتے ہوئے $\mathrm{d}x = \frac{1}{3}$ لے کر $y' = y - e^{2x}, y(0) = 1$ کے لئے $y(2)$ تلاش کریں۔ $y(2)$ کی ٹھیک ٹھیک قیمت کتنی ہے؟

میدان ڈھلوان

سوال ۷.۷۱ تا سوال ۷.۷۴ میں دیے گئے تفرقی مساوات کے منحنی حل اور میدان ڈھلوان کی نشاندہی شکل ۷.۲ میں کریں۔

سوال ۷.۷۱: $y' = xy$

سوال ۷.۷۲: $y' = x + y$

سوال ۷.۷۳: $y' = x$

سوال ۷.۷۴: $y' = x - y$

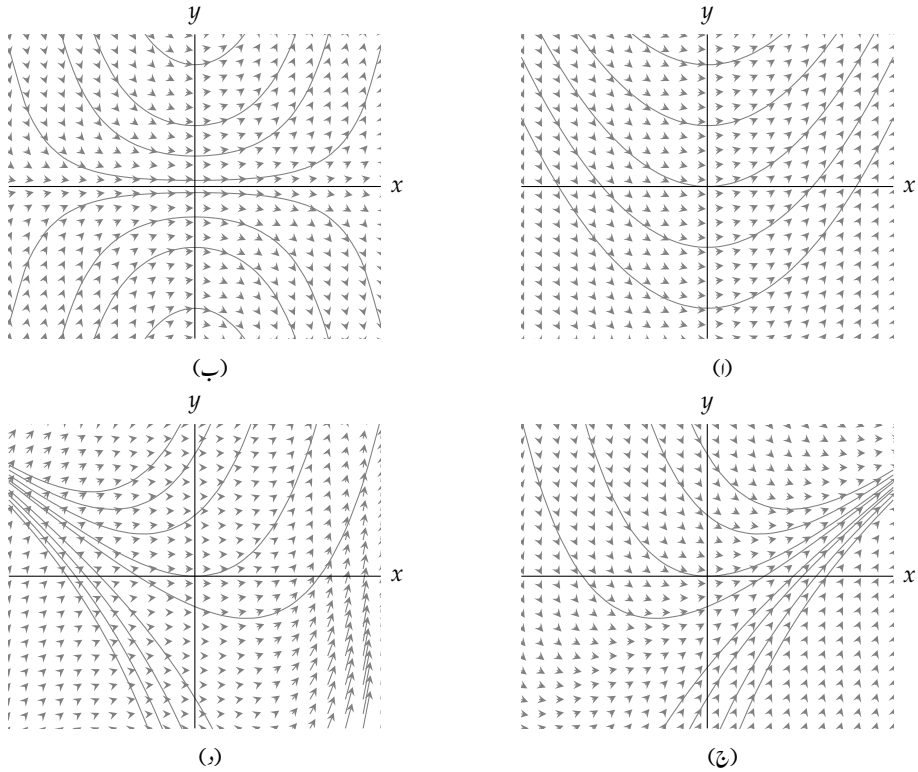

شکل ۷.۷۲: میدان ڈھلوان برائے سوال ۷.۷۷۱ تا سوال ۷.۷۷۴

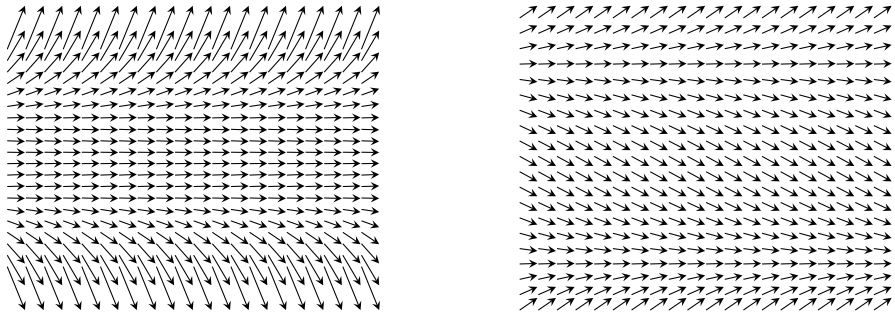

(ب) (ا)

شکل ۷.۷۳: میدان ڈھلوان برائے سوال ۷.۷۷۵ اور سوال ۷.۷۷۶

۱۳۲۸۶ سوال ۷.۷۷۵ میں شکل ۷.۷۳-ا اور سوال ۷.۷۷۶ میں شکل ۷.۷۳-ب کے میدان ڈھلوان کی نقل اتار کر اس پر منحنی حل کا خاکہ بنائیں۔

۱۳۲۸۷ سوال ۷.۷۷۵: $y' = (y+2)(y-2)$

۱۳۲۸۸ سوال ۷.۷۷۶: $y' = y(y+1)(y-1)$

۱۳۲۸۹

۱۳۲۹۰ سوال ۷.۷۷۷ تا سوال ۷.۷۸۰ میں میدان ڈھلوان کا کچھ حصہ کھینچ کر دیے گئے نقطہ سے گزرتی ہوئی منحنی حل کا خاکہ بنائیں۔

۱۳۲۹۱ سوال ۷.۷۷۷: $y' = y$ اور نقاط (ا) $(0,1)$، (ب) $(0,2)$، (ج) $(0,-1)$

۱۳۲۹۲ سوال ۷.۷۷۸: $y' = 2(y-4)$ اور نقاط (ا) $(0,1)$، (ب) $(0,4)$، (ج) $(0,5)$

۱۳۲۹۳ سوال ۷.۷۷۹: $y' = y(2-y)$ اور نقاط (ا) $(0,1/2)$، (ب) $(0,3/2)$، (ج) $(0,2)$، (د) $(0,3)$

۱۳۲۹۴ سوال ۷.۷۸۰: $y' = y^2$ اور نقاط (ا) $(0,1)$، (ب) $(0,2)$، (ج) $(0,-1)$، (د) $(0,0)$

۱۳۲۹۵ **کمپیوٹر کا استعمال**

۱۳۲۹۶ سوال ۷.۷۸۱ تا سوال ۷.۷۸۴ میں دیے گئے تفرقی مساوات پر درج ذیل اقدام کرتے ہوئے ترسیمی غور کریں۔

۱۳۲۹۷ ا. دیے گئے تفرقی مساوات کا میدان ڈھلوان xy مستوی میں کھینچیں۔

۱۳۲۹۸ ب. تفرقی مساوات کا عمومی حل کمپیوٹر کے کسی ریاضی کے پروگرام کی مدد سے حاصل کریں۔

۱۳۲۹۹ ج. اختیاری مستقل $C = -2, -1, 0, 1, 2$ لیتے ہوئے منحنی حل کو میدان ڈھلوان کے اوپر ترسیم کریں۔

۱۳۳۰۰ د. دیے گئے مسئلے کا تحلیلی حل وقفہ $[0, b]$ پر تلاش کر کے ترسیم کریں۔

۱۳۳۰۱ ھ. دیے گئے وقفہ کو 4 ذیلی وقفوں میں تقسیم کرتے ہوئے یولر تخمین کو بھی میدان ڈھلوان کے اوپر ترسیم کریں۔

۱۳۳۰۲ و. جزو-ہ کو 8 ، 16 اور 32 ذیلی وقفوں کے لئے دوبارہ حل کر کے جزو-ہ کے نتائج کے اوپر ترسیم کریں۔

ز. نقطہ $x = b$ پر چاروں یولر تخمین میں خلل تلاش کریں۔ نتائج کی بہتری پر تبصرہ کریں۔

سوال ۷.۷۸۱: $y' = x + y,\ y(0) = -\frac{7}{10};\ -4 \le x \le 4,\ -4 \le y \le 4;\ b = 1$

سوال ۷.۷۸۲: $y' = -\frac{x}{y},\ y(0) = 2;\ -3 \le x \le 3,\ -3 \le y \le 3;\ b = 2$

سوال ۷.۷۸۳: $y' = y(2 - y),\ y(0) = \frac{1}{2};\ 0 \le x \le 4,\ 0 \le y \le 3;\ b = 3$

سوال ۷.۷۸۴: $y' = (\sin x)(\sin y),\ y(0) = 2;\ -6 \le x \le 6,\ -6 \le y \le 6;\ b = \frac{3\pi}{2}$

سوال ۷.۷۸۵ اور سوال ۷.۷۸۶ کا بنیادی تفاعل کی صورت میں صریح حل نہیں پایا جاتا ہے۔ ان تفرقی مساوات پر ترسیمی غور کریں۔ مذکورہ بالا جزو-الف تا جزو-ز میں زیادہ سے زیادہ کو کرنے کی کوشش کریں۔

سوال ۷.۷۸۵: $y' = \cos(2x - y),\ y(0) = 2;\ 0 \le x \le 5,\ 0 \le y \le 5;\ y(2)$

سوال ۷.۷۸۶: $y' = y(\frac{1}{2} - \ln y),\ y(0) = \frac{1}{3},\ 0 \le x \le 4,\ 0 \le y \le 3;\ y(3)$

سوال ۷.۷۸۷: ابتدائی قیمت مسئلہ $y' + y = f(x),\ y(0) = 0$ کا حل کمپیوٹر کی مدد سے حاصل کریں جہاں $f(x)$ درج ذیل ہے۔

(ا) $2x$، (ب) $\sin 2x$، (ج) $3e^{x/2}$، (د) $2e^{-x/2}\cos 2x$

تمام حل کا ایک دوسرے کے ساتھ موازنہ کرنے کی خاطر انہیں وقفہ $-2 \le x \le 6$ پر ایک ساتھ ترسیم کریں۔

سوال ۷.۷۸۸: (ا) درج ذیل تفرقی مساوات کے میدان ڈھلوان کا خاکہ وقفہ $-3 \le x \le 3,\ -3 \le y \le 3$ کے لئے کھینچیں۔

$$y' = \frac{3x^2 + 4x + 2}{2(y - 1)}$$

(ب) متغیرات کی علیحدگی کے بعد کمپیوٹر کے ریاضی پروگرام کی مدد سے تکمل کرتے ہوئے خفی حل تلاش کریں۔ (ج) جزو-ب کے نتیجہ کو مستقل $C = -6, -4, -2, 0, 2, 4, 6$ کے لئے ترسیم کریں۔ (د) اس حل کو ترسیم کریں جو ابتدائی شرط $y(0) = -1$ کو مطمئن کرتا ہو۔

باب ۸

تکمل کے طریقے

ہم نے دیکھا کہ چیزوں کی ناپ اور روزمرہ زندگی کے اعمال کی نمونہ کشی تکمل کو جنم دیتے ہیں۔ ہم جانتے ہیں کہ الٹ تفرق سے تکمل کو حل کیا جاسکتا ہے۔ کسی عمل کی نمونہ کشی میں زیادہ گہرائی تک جانے سے زیادہ پیچیدہ تکمل حاصل ہوتا ہے۔ ہم جاننا چاہتے ہیں کہ اس طرح کے پیچیدہ تکمل کو کس طرح سادہ صورت دی جاسکتی ہے جن کے ساتھ کام کرنا آسان ہو۔ اس باب میں ہم انجانے تکمل سے جانے پہچانے تکمل کا حصول سیکھیں گے جنہیں جدول سے دیکھا جاسکتا ہے یا جس کو کمپیوٹر سے حل کیا جاسکتا ہے۔

۸.۱ تکمل کے بنیادی کلیات

ہم نے حصہ ۵.۱ میں دیکھا کہ غیر قطعی تکمل کو حل کرنے کے لئے اس کے الٹ تفرق کے ساتھ مستقل جمع کرنا ہوگا۔ جدول ۸.۱ میں ان تکمل کی بنیادی روپ درج کی گئی ہے جنہیں اب تک ہم حل کرتے آرہے ہیں۔ زیادہ تکملات کا جدول کتاب کی آخر میں پیش کیا گیا ہے جس پر حصہ ۸.۵ میں غور کیا جائے گا۔

الجبرائی طریقہ

ہمیں عموماً تکمل کو جانی پہچانی معیاری روپ میں لکھنا ہوگا۔

مثال ۸.۱: سادہ روپ حاصل کرنے کا بدل

تکمل $\int \frac{2x-9}{\sqrt{x^2-9x+1}}\,dx$ حل کریں۔

جدول ۸.۱: تکمل کے بنیادی کلیات

کلیہ	شمار
$\int \mathrm{d}u = u + C$	1
$\int k\,\mathrm{d}u = ku + C \quad (k$ عدد ہے$)$	2
$\int (\mathrm{d}u + \mathrm{d}v) = \int \mathrm{d}u + \int \mathrm{d}v$	3
$\int u^n\,\mathrm{d}u = \frac{u^{n+1}}{n+1} + C \quad (n \neq -1)$	4
$\int \frac{\mathrm{d}u}{u} = \ln\lvert u\rvert + C$	5
$\int \sin u\,\mathrm{d}u = -\cos u + C$	6
$\int \cos u\,\mathrm{d}u = \sin u + C$	7
$\int \sec^2 u\,\mathrm{d}u = \tan u + C$	8
$\int \csc^2 u\,\mathrm{d}u = -\cot u + C$	9
$\int \sec u \tan u\,\mathrm{d}u = \sec u + C$	10
$\int \csc u \cot u\,\mathrm{d}u = -\csc u + C$	11
$\int \tan u\,\mathrm{d}u = -\ln\lvert\cos u\rvert + C = \ln\lvert\sec u\rvert + C$	12
$\int \cot u\,\mathrm{d}u = \ln\lvert\sin u\rvert + C = -\ln\lvert\csc u\rvert + C$	13
$\int e^u\,\mathrm{d}u = e^u + C$	14
$\int a^u\,\mathrm{d}u = \frac{a^u}{\ln a} + C \quad (a > 0,\ a \neq 1)$	15
$\int \frac{\mathrm{d}u}{\sqrt{a^2-u^2}} = \sin^{-1}\left(\frac{u}{a}\right) + C$	16
$\int \frac{\mathrm{d}u}{a^2+u^2} = \frac{1}{a}\tan^{-1}\left(\frac{u}{a}\right) + C$	17
$\int \frac{\mathrm{d}u}{u\sqrt{u^2-a^2}} = \frac{1}{a}\sec^{-1}\left\lvert\frac{u}{a}\right\rvert + C$	18

۱۳۳۳ حل:

$$\begin{aligned}
\int \frac{2x-9}{\sqrt{x^2-9x+1}}\,\mathrm{d}x &= \int \frac{\mathrm{d}u}{\sqrt{u}} && u = x^2-9x+1\\
&= \int u^{-1/2}\,\mathrm{d}u\\
&= \frac{u^{(-1/2)+1}}{(-1/2)+1} + C && n = -1/2 \text{ جدول ۸.۱ کلیہ 4 میں}\\
&= 2u^{1/2} + C\\
&= 2\sqrt{x^2-9x+1} + C
\end{aligned}$$

۱۳۳۴ □

۱۳۳۵ مثال ۸.۲: تکمیل مربع

۱۳۳۶ تکمل $\int \frac{\mathrm{d}x}{\sqrt{8x-x^2}}$ حل کریں۔

۱۳۳۷ حل: ہم مربع مکمل کرتے ہوئے زیر جذر کو لکھتے ہیں:

$$\begin{aligned}
8x - x^2 &= -(x^2-8x) = -(x^2-8x+16-16)\\
&= -(x^2-8x+16)+16 = 16-(x-4)^2
\end{aligned}$$

۱۳۳۸

$$\begin{aligned}
\int \frac{\mathrm{d}x}{\sqrt{8x-x^2}} &= \int \frac{\mathrm{d}x}{\sqrt{16-(x-4)^2}}\\
&= \int \frac{\mathrm{d}u}{\sqrt{a^2-u^2}} && a=4, u=(x-4)\\
&= \sin^{-1}\left(\tfrac{u}{a}\right) + C && \text{جدول ۸.۱ کلیہ 16}\\
&= \sin^{-1}\left(\tfrac{x-4}{4}\right) + C
\end{aligned}$$

۱۳۳۹ □

۱۳۴۰ مثال ۸.۳: طاقت پھیلا کر تماثل کا استعمال

۱۳۴۱ تکمل $\int (\sec x \tan x)^2\,\mathrm{d}x$ حل کریں۔

۱۳۴۲ حل: ہم متکمل کو پھیلاتے ہیں۔

$$(\sec x + \tan x)^2 = \sec^2 x + 2\sec x \tan x + \tan^2 x$$

۱۲۳۴۳ بائیں ہاتھ پہلے دو اجزاء کا تکمل ہم جانتے ہیں البتہ $\tan^2 x$ کا کچھ کرنا ہوگا۔ ہم درج ذیل تماثل کے ذریعہ اس کو جانے پہچانے روپ میں تبدیل کرتے ہیں۔

$$\tan^2 x + 1 = \sec^2 x \quad \Longrightarrow \quad \tan^2 x = \sec^2 x - 1$$

۱۲۳۴۴ یوں درج ذیل ہوگا۔

$$\begin{aligned}\int (\sec x + \tan x)^2 \,\mathrm{d}x &= \int (\sec^2 x + 2\sec x \tan x + \sec^2 x - 1)\,\mathrm{d}x \\ &= 2\int \sec^2 \mathrm{d}x + 2\int \sec x \tan x \,\mathrm{d}x - \int 1\,\mathrm{d}x \\ &= 2\tan x + 2\sec x - x + C\end{aligned}$$

۱۲۳۴۵ □

۱۲۳۴۶ مثال ۸.۴: جذر سے چھٹکارا

۱۲۳۴۷ تکمل $\int_0^{\pi/4} \sqrt{1+\cos 4x}\,\mathrm{d}x$ حل کریں۔

۱۲۳۴۸ حل: ہم تماثل

$$\cos^2\theta = \frac{1+\cos 2\theta}{2} \quad \Longrightarrow 1+\cos 2\theta = 2\cos^2\theta$$

۱۲۳۴۹ میں $\theta = 2x$ پر کر کے

$$1+\cos 4x = 2\cos^2 2x$$

۱۲۳۵۰ لکھتے ہیں۔ یوں درج ذیل ہوگا جہاں تیسرے قدم پر وقفہ $[0, \frac{\pi}{4}]$ پر $\cos 2x \geq 0$ کی وجہ سے $|\cos 2x| = \cos 2x$ ہوگا۔

$$\begin{aligned}\int_0^{\pi/4} \sqrt{1+\cos 4x}\,\mathrm{d}x &= \int_0^{\pi/4} \sqrt{2}\sqrt{\cos^2 2x}\,\mathrm{d}x \\ &= \sqrt{2}\int_0^{\pi/4} |\cos 2x|\,\mathrm{d}x \qquad \sqrt{u^2} = |u| \\ &= \sqrt{2}\int_0^{\pi/4} \cos 2x\,\mathrm{d}x \\ &= \sqrt{2}\,\frac{\sin 2x}{2}\Big|_0^{\pi/4} \\ &= \sqrt{2}\Big[\frac{1}{2} - 0\Big] = \frac{\sqrt{2}}{2}\end{aligned}$$

۱۲۳۵۱ □

۱۳۳۵۲ مثال ۸.۵: غیر مناسب کسر کی مناسب کسر میں تبدیلی

۱۳۳۵۳ تکمل $\int \frac{3x^2-7x}{3x+2}\,\mathrm{d}x$ حل کریں۔

۱۳۳۵۴ حل: متکمل غیر مناسب کسر (نسب نما کی طاقت، شمار کنندہ کی طاقت سے زیادہ یا اس کے برابر ہے) ہے۔ اس کا تکمل لینے سے پہلے ہم پہلے تقسیم کر کے

۱۳۳۵۵ حاصل تقسیم اور باقی حاصل کرتے ہیں جو مناسب کسر ہو گا:

۱۳۳۵۶
$$\begin{array}{r|l} & x-3 \\ \hline 3x+2 & 3x^2-7x \\ & -3x^2-2x \\ \hline & -9x \\ & 9x+6 \\ \hline & 6 \end{array}$$

۱۳۳۵۷ یوں

$$\frac{3x^2-7x}{3x+2} = x-3+\frac{6}{3x+2}$$

۱۳۳۵۸ لکھا جا سکتا ہے لہٰذا درج ذیل ہو گا۔

$$\int \frac{3x^2-7x}{3x+2}\,\mathrm{d}x = \int \left(x-3+\frac{6}{3x+2}\right)\mathrm{d}x = \frac{x^2}{2}-3x+2\ln|3x+2|+C$$

۱۳۳۵۹ □

۱۳۳۶۰ یہ ضروری نہیں ہے کہ غیر مناسب کسر کو بذریعہ تقسیم مناسب کسر میں تبدیل کرنے سے ہمیں ایسا تکمل حاصل ہو جسے ہم سیدھا تکمل کر سکیں۔ ایسی صورت پر

۱۳۳۶۱ حصہ ۸.۳ میں غور کیا جائے گا۔

۱۳۳۶۲ مثال ۸.۶: ایک کسر کی علیحدگی

۱۳۳۶۳ تکمل $\int \frac{3x+2}{\sqrt{1-x^2}}\,\mathrm{d}x$ حل کریں۔

۱۳۳۶۴ حل: ہم متکمل کو دو علیحدہ کسر لکھتے ہیں۔

$$\int \frac{3x+2}{\sqrt{1-x^2}}\,\mathrm{d}x = 3\int \frac{x\,\mathrm{d}x}{\sqrt{1-x^2}} + 2\int \frac{\mathrm{d}x}{\sqrt{1-x^2}}$$

۱۳۳۶۵ بائیں ہاتھ پہلے نئے تکمل میں ہم $u = 1-x^2$ ، $\mathrm{d}u = -2x\,\mathrm{d}x$ اور $x\,\mathrm{d}x = -\frac{1}{2}\,\mathrm{d}u$ پر کرتے ہیں۔

$$\begin{aligned} 3\int \frac{x\,\mathrm{d}x}{\sqrt{1-x^2}} &= 3\int \frac{(-1/2)\,\mathrm{d}u}{\sqrt{u}} = -\frac{3}{2}\int u^{-1/2}\,\mathrm{d}u \\ &= -\frac{3}{2}\cdot\frac{u^{1/2}}{1/2} + C_1 = -3\sqrt{1-x^2}+C_1 \end{aligned}$$

جدول ۸.۲: سیکنٹ اور کوسیکنٹ کے کلیات تکمل

شمار	کلیہ
1	$\int \sec u \, \mathrm{d}u = \ln\lvert\sec u + \tan u\rvert + C$
2	$\int \csc u \, \mathrm{d}u = -\ln\lvert\csc u + \cot u\rvert + C$

۱۲۳۶۶ دوسرا نیا تکمل معیاری روپ میں ہے لہٰذا

$$2\int \frac{\mathrm{d}x}{\sqrt{1-x^2}} = 2\sin^{-1} x + C_2$$

۱۲۳۶۷ ہوگا۔ یوں پورا تکمل درج ذیل ہوگا جہاں $C_1 + C_2 = C$ لکھا گیا ہے۔

$$\int \frac{3x+2}{\sqrt{1-x^2}} \, \mathrm{d}x = -3\sqrt{1-x^2} + 2\sin^{-1} x + C$$

۱۲۳۶۸ □

۱۲۳۶۹ مثال ۸.۷: اکائی (1) کی ایک روپ سے ضرب

۱۲۳۷۰ تکمل $\int \sec x \, \mathrm{d}x$ حل کریں۔

۱۲۳۷۱ حل:

$$\begin{aligned}
\int \sec x \, \mathrm{d}x &= \int (\sec x)(1) \, \mathrm{d}x \\
&= \int \sec x \cdot \frac{\sec x + \tan x}{\sec x + \tan x} \, \mathrm{d}x \\
&= \int \frac{\sec^2 x + \sec x \tan x}{\sec x + \tan x} \, \mathrm{d}x \\
&= \int \frac{\mathrm{d}u}{u} \qquad\qquad u = \tan x + \sec x \\
&= \ln\lvert u\rvert + C = \ln\lvert\sec x + \tan x\rvert + C
\end{aligned}$$

۱۲۳۷۲ □

۱۳۳۷۳ ہم مثال ۸.۷ کی ترکیب استعمال کرتے ہوئے سیکنٹ اور ٹینجنٹ کی جگہ کوسیکنٹ اور کوٹینجنٹ لیتے ہوئے کوسیکنٹ کے تکمل کا کلیہ معلوم کر سکتے ہیں (سوال
۱۳۳۷۴ ۸.۹۵)۔

۱۳۳۷۵ تکمل کو بنیادی کلیہ کی روپ میں لکھنے کا طریقے

طریقہ	مثال
سادہ روپ بذریعہ بدل	$\dfrac{2x-9}{\sqrt{x^2-9x+1}}\,\mathrm{d}x = \dfrac{\mathrm{d}u}{u}$
تکمیل مربع	$\sqrt{8x-x^2}\,\mathrm{d}x = \sqrt{16-(x-4)^2}$
تکونیاتی تماثل	$(\sec x+\tan x)^2 = \sec^2 x + 2\sec x\tan x + \tan^2 x$
	$= \sec^2 x + 2\sec x\tan x + (\sec^2 x - 1)$
	$= 2\sec^2 x + 2\sec x\tan x - 1$
جذر سے چھٹکارا	$\sqrt{1+\cos 4x} = \sqrt{2\cos^2 2x} = \sqrt{2}\lvert\cos 2x\rvert$
غیر مناسب سے مناسب کسر کا حصول	$\dfrac{3x^2-7x}{3x+2} = x-3+\dfrac{6}{3x+2}$
کسر کی علیحدگی	$\dfrac{3x+2}{\sqrt{1-x^2}} = \dfrac{3x}{\sqrt{1-x^2}} + \dfrac{2}{\sqrt{1-x^2}}$
اکائی (1) کی ایک روپ سے ضرب	$\sec x = \sec x \cdot \dfrac{\sec x+\tan x}{\sec x+\tan x}$
	$= \dfrac{\sec^2 x+\sec x\tan x}{\sec x+\tan x}$

۱۳۳۷۶ سوالات

۱۳۳۷۷ بنیادی بدل

۱۳۳۷۸ سوال ۸.۱ تا سوال ۸.۳۶ میں بدل کے استعمال سے معیاری روپ حاصل کر کے تکمل حل کریں۔

۱۳۳۷۹ سوال ۸.۱: $\int \frac{16x\,\mathrm{d}x}{\sqrt{8x^2+1}}$

۱۳۳۸۰ سوال ۸.۲: $\int \frac{3\cos x\,\mathrm{d}x}{\sqrt{1+3\sin x}}$

۱۳۳۸۱ سوال ۸.۳: $\int 3\sqrt{\sin v}\cos v\,\mathrm{d}v$

۱۳۳۸۲ سوال ۸.۴: $\int \cot^3 y\csc^2 y\,\mathrm{d}y$

۱۳۳۸۳ سوال ۸.۵: $\int_0^1 \frac{16x\,\mathrm{d}x}{8x^2+2}$

۱۳۳۸۴ سوال ۸.۶: $\int_{\pi/4}^{\pi/3} \frac{\sec^2 z}{\tan z}\,\mathrm{d}z$

۱۲۳۸۵ سوال ۸.۷: $\int \frac{\mathrm{d}x}{\sqrt{x}(\sqrt{x}+1)}$

۱۲۳۸۶ سوال ۸.۸: $\int \frac{\mathrm{d}x}{x-\sqrt{x}}$

۱۲۳۸۷ سوال ۸.۹: $\int \cot(3-7x)\,\mathrm{d}x$

۱۲۳۸۸ سوال ۸.۱۰: $\int \csc(\pi x-1)\,\mathrm{d}x$

۱۲۳۸۹ سوال ۸.۱۱: $\int e^{\theta}\csc(e^{\theta}+1)\,\mathrm{d}\theta$

۱۲۳۹۰ سوال ۸.۱۲: $\int \frac{\cot(3+\ln x)}{x}\,\mathrm{d}x$

۱۲۳۹۱ سوال ۸.۱۳: $\int \sec\frac{t}{3}\,\mathrm{d}t$

۱۲۳۹۲ سوال ۸.۱۴: $\int x\sec(x^2-5)\,\mathrm{d}x$

۱۲۳۹۳ سوال ۸.۱۵: $\int \csc(s-\pi)\,\mathrm{d}s$

۱۲۳۹۴ سوال ۸.۱۶: $\int \frac{1}{\theta^2}\csc\frac{1}{\theta}\,\mathrm{d}\theta$

۱۲۳۹۵ سوال ۸.۱۷: $\int_0^{\sqrt{\ln 2}} 2xe^{x^2}\,\mathrm{d}x$

۱۲۳۹۶ سوال ۸.۱۸: $\int_{\pi/2}^{\pi}\sin(y)e^{\cos y}\,\mathrm{d}y$

۱۲۳۹۷ سوال ۸.۱۹: $\int e^{\tan v}\sec^2 v\,\mathrm{d}v$

۱۲۳۹۸ سوال ۸.۲۰: $\int \frac{e^{\sqrt{t}}}{\sqrt{t}}\,\mathrm{d}t$

۱۲۳۹۹ سوال ۸.۲۱: $\int 3^{x+1}\,\mathrm{d}x$

۱۲۴۰۰ سوال ۸.۲۲: $\int \frac{2^{\ln x}}{x}\,\mathrm{d}x$

۱۲۴۰۱ سوال ۸.۲۳: $\int \frac{2^{\sqrt{w}}}{2\sqrt{w}}\,\mathrm{d}w$

۱۲۴۰۲ سوال ۸.۲۴: $\int 10^{2\theta}\,\mathrm{d}\theta$

۱۲۴۰۳ سوال ۸.۲۵: $\int \frac{9\,\mathrm{d}u}{1+9u^2}$

۱۲۴۰۴ سوال ۸.۲۶: $\int \frac{4\,\mathrm{d}x}{1+(2x+1)^2}$

۱۲۴۰۵ سوال ۸.۲۷: $\int_0^{1/6} \frac{\mathrm{d}x}{\sqrt{1-9x^2}}$

۱۲۴۰۶ سوال ۸.۲۸: $\int_0^{1} \frac{\mathrm{d}t}{\sqrt{4-t^2}}$

۱۲۴۰۷ سوال ۸.۲۹: $\int \frac{2s\,\mathrm{d}s}{\sqrt{1-s^4}}$

۱۳۴۰۸ سوال ۸.۳۰: $\int \frac{2\,dx}{x\sqrt{1-4\ln^2 x}}$

۱۳۴۰۹ سوال ۸.۳۱: $\int \frac{6\,dx}{x\sqrt{25x^2-1}}$

۱۳۴۱۰ سوال ۸.۳۲: $\int \frac{dr}{r\sqrt{r^2-9}}$

۱۳۴۱۱ سوال ۸.۳۳: $\int \frac{dx}{e^x+e^{-x}}$

۱۳۴۱۲ سوال ۸.۳۴: $\int \frac{dy}{\sqrt{e^{2y}-1}}$

۱۳۴۱۳ سوال ۸.۳۵: $\int_1^{e^{\pi/3}} \frac{dx}{x\cos(\ln x)}$

۱۳۴۱۴ سوال ۸.۳۶: $\int \frac{\ln x\,dx}{x+4x\ln^2 x}$

۱۳۴۱۵ **تکمیل مربع**

۱۳۴۱۶ سوال ۸.۳۷ تا سوال ۸.۴۲ میں مربع مکمل کر کے اور بدل استعمال کرتے ہوئے معیاری روپ حاصل کر کے تکمل حل کریں۔

۱۳۴۱۷ سوال ۸.۳۷: $\int_1^2 \frac{8\,dx}{x^2-2x+2}$

۱۳۴۱۸ سوال ۸.۳۸: $\int_2^4 \frac{2\,dx}{x^2-6x+10}$

۱۳۴۱۹ سوال ۸.۳۹: $\int \frac{dt}{\sqrt{-t^2+4t-3}}$

۱۳۴۲۰ سوال ۸.۴۰: $\int \frac{d\theta}{\sqrt{2\theta-\theta^2}}$

۱۳۴۲۱ سوال ۸.۴۱: $\int \frac{dx}{(x+1)\sqrt{x^2+2x}}$

۱۳۴۲۲ سوال ۸.۴۲: $\int \frac{dx}{(x-2)\sqrt{x^2-4x+3}}$

۱۳۴۲۳ **تکونیاتی تماثل**

۱۳۴۲۴ سوال ۸.۴۳ تا سوال ۸.۴۶ میں تکونیاتی تماثل اور بدل استعمال کرتے ہوئے معیاری روپ حاصل کر کے تکمل حل کریں۔

۱۳۴۲۵ سوال ۸.۴۳: $\int (\sec x + \cot x)^2\,dx$

۱۳۴۲۶ سوال ۸.۴۴: $\int (\csc x - \tan x)^2\,dx$

۱۳۴۲۷ سوال ۸.۴۵: $\int \csc x \sin 3x\,dx$

۱۳۴۲۸ سوال ۸.۴۶: $\int (\sin 3x \cos 2x - \cos 3x \sin 2x)\,dx$

۱۳۴۲۹ **غیر مناسب کسر**

۱۳۴۳۰ سوال ۸.۴۷ تا سوال ۸.۵۲ میں غیر مناسب کسر سے مناسب کسر کے حصول اور بدل کے ذریعہ معیاری روپ حاصل کر کے تکمل حل کریں۔

۱۲۳۳۱ سوال ۸.۴۷: $\int \frac{x}{x+1}\,\mathrm{d}x$

۱۲۳۳۲ سوال ۸.۴۸: $\int \frac{x^2}{x^2+1}\,\mathrm{d}x$

۱۲۳۳۳ سوال ۸.۴۹: $\int_{\sqrt{2}}^{3} \frac{2x^3}{x^2-1}\,\mathrm{d}x$

۱۲۳۳۴ سوال ۸.۵۰: $\int_{-1}^{3} \frac{4x^2-7}{2x+3}\,\mathrm{d}x$

۱۲۳۳۵ سوال ۸.۵۱: $\int \frac{4t^3-t^2+16t}{t^2+4}\,\mathrm{d}t$

۱۲۳۳۶ سوال ۸.۵۲: $\int \frac{2\theta^3-7\theta^2+7\theta}{2\theta-5}\,\mathrm{d}\theta$

۱۲۳۳۷ **کسر کی علیحدگی**

۱۲۳۳۸ سوال ۸.۵۳ تا سوال ۸.۵۶ میں کسر علیحدہ کر کے بدل کے ذریعہ معیاری روپ حاصل کر کے تکمل حل کریں۔

۱۲۳۳۹ سوال ۸.۵۳: $\int \frac{1-x}{\sqrt{1-x^2}}\,\mathrm{d}x$

۱۲۳۴۰ سوال ۸.۵۴: $\int \frac{x+2\sqrt{x-1}}{2x\sqrt{x-1}}\,\mathrm{d}x$

۱۲۳۴۱ سوال ۸.۵۵: $\int_0^{\pi/4} \frac{1+\sin x}{\cos^2 x}\,\mathrm{d}x$

۱۲۳۴۲ سوال ۸.۵۶: $\int_0^{1/2} \frac{2-8x}{1+4x^2}\,\mathrm{d}x$

۱۲۳۴۳ **اکائی (1) کی ایک روپ سے ضرب**

۱۲۳۴۴ سوال ۸.۵۷ تا سوال ۸.۶۲ میں اکائی کی ایک روپ سے ضرب اور بدل کے ذریعہ معیاری روپ حاصل کر کے تکمل حل کریں۔

۱۲۳۴۵ سوال ۸.۵۷: $\int \frac{1}{1+\sin x}\,\mathrm{d}x$

۱۲۳۴۶ سوال ۸.۵۸: $\int \frac{1}{1+\cos x}\,\mathrm{d}x$

۱۲۳۴۷ سوال ۸.۵۹: $\int \frac{1}{\sec\theta+\tan\theta}\,\mathrm{d}\theta$

۱۲۳۴۸ سوال ۸.۶۰: $\int \frac{1}{\csc\theta+\cot\theta}\,\mathrm{d}\theta$

۱۲۳۴۹ سوال ۸.۶۱: $\int \frac{1}{1-\sec x}\,\mathrm{d}x$

۱۲۳۵۰ سوال ۸.۶۲: $\int \frac{1}{1-\csc x}\,\mathrm{d}x$

۱۲۳۵۱ **جذر سے چھٹکارا**

۱۲۳۵۲ سوال ۸.۶۳ تا سوال ۸.۷۰ میں جذر سے چھٹکارے کے بعد تکمل حل کریں۔

۱۲۳۵۳ سوال ۸.۶۳: $\int_0^{2\pi} \sqrt{\frac{1-\cos x}{2}}\,\mathrm{d}x$

۱۳۴۵۴ سوال ۸.۶۴: $\int_0^{\pi} \sqrt{1-\cos 2x}\,\mathrm{d}x$

۱۳۴۵۵ سوال ۸.۶۵: $\int_{\pi/2}^{\pi} \sqrt{1+\cos 2t}\,\mathrm{d}t$

۱۳۴۵۶ سوال ۸.۶۶: $\int_{-\pi}^{0} \sqrt{1+\cos t}\,\mathrm{d}t$

۱۳۴۵۷ سوال ۸.۶۷: $\int_{-\pi}^{0} \sqrt{1-\cos^2\theta}\,\mathrm{d}\theta$

۱۳۴۵۸ سوال ۸.۶۸: $\int_{\pi/2}^{\pi} \sqrt{1-\sin^2\theta}\,\mathrm{d}\theta$

۱۳۴۵۹ سوال ۸.۶۹: $\int_{-\pi/4}^{\pi/4} \sqrt{1+\tan^2 y}\,\mathrm{d}y$

۱۳۴۶۰ سوال ۸.۷۰: $\int_{-\pi/4}^{0} \sqrt{\sec^2 y-1}\,\mathrm{d}y$

۱۳۴۶۱ مختلف قسم کے تکمل

۱۳۴۶۲ سوال ۸.۷۱ تا سوال ۸.۸۲ میں کوئی بھی موزوں طریقہ استعمال کرتے ہوئے تکمل حل کریں۔

۱۳۴۶۳ سوال ۸.۷۱: $\int_{\pi/4}^{3\pi/4} (\csc x-\cot x)^2\,\mathrm{d}x$

۱۳۴۶۴ سوال ۸.۷۲: $\int_0^{\pi/4} (\sec x+4\cos x)^2\,\mathrm{d}x$

۱۳۴۶۵ سوال ۸.۷۳: $\int \cos\theta\csc(\sin\theta)\,\mathrm{d}\theta$

۱۳۴۶۶ سوال ۸.۷۴: $\int (1+\frac{1}{x})\cot(x+\ln x)\,\mathrm{d}x$

۱۳۴۶۷ سوال ۸.۷۵: $\int (\csc x-\sec x)(\sin x+\cos x)\,\mathrm{d}x$

۱۳۴۶۸ سوال ۸.۷۶: $\int (\csc x+\sec x)(\tan x+\cot x)\,\mathrm{d}x$

۱۳۴۶۹ سوال ۸.۷۷: $\int \frac{6\,\mathrm{d}y}{\sqrt{y}(1+y)}$

۱۳۴۷۰ سوال ۸.۷۸: $\int \frac{\mathrm{d}x}{x\sqrt{4x^2-1}}$

۱۳۴۷۱ سوال ۸.۷۹: $\int \frac{7\,\mathrm{d}x}{(x-1)\sqrt{x^2-2x-48}}$

۱۳۴۷۲ سوال ۸.۸۰: $\int \frac{\mathrm{d}x}{(2x+1)\sqrt{4x^2+4x}}$

۱۳۴۷۳ سوال ۸.۸۱: $\int \sec^2 t\tan(\tan t)\,\mathrm{d}t$

۱۳۴۷۴ سوال ۸.۸۲: $\int \frac{\tan\theta}{2\sec\theta+1}$

۱۳۴۷۵ تکونیاتی طاقتیں

۱۳۴۷۶ سوال ۸.۸۳:

۱۳۴۷۷ ا. حل کریں: $\int \cos^3\theta\,\mathrm{d}\theta$ (اشارہ: $\cos^2\theta = 1-\sin^2\theta$)

۱۲۴۷۸ ب. حل کریں: $\int \cos^5 \theta \, d\theta$

۱۲۴۷۹ ج. بغیر حل کیے بتائیں کہ آپ $\int \cos^9 \theta \, d\theta$ کو کس طرح حل کریں گے۔

۱۲۴۸۰ سوال ۸.۸۴:

۱۲۴۸۱ ا. حل کریں: $\int \sin^3 \theta \, d\theta$ (اشارہ: $\sin^2 \theta = 1 - \cos^2 \theta$)

۱۲۴۸۲ ب. حل کریں $\int \sin^5 \theta \, d\theta$

۱۲۴۸۳ ج. حل کریں: $\int \sin^7 \theta \, d\theta$

۱۲۴۸۴ د. بغیر حل کیے بتائیں آپ $\int \sin^{13} \theta \, d\theta$ کو کس طرح حل کریں گے۔

۱۲۴۸۵ سوال ۸.۸۵:

۱۲۴۸۶ ا. $\int \tan^3 \theta \, d\theta$ کو $\int \tan \theta \, d\theta$ کی صورت میں لکھ کر حل کریں۔(اشارہ: $\tan^2 \theta = \sec^2 \theta - 1$)

۱۲۴۸۷ ب. $\int \tan^5 \theta \, d\theta$ کو $\int \tan \theta^3 \, d\theta$ کی صورت میں لکھیں۔

۱۲۴۸۸ ج. $\int \tan^7 \theta \, d\theta$ کو $\int \tan \theta^5 \, d\theta$ کی صورت میں لکھیں۔

۱۲۴۸۹ د. $\int \tan^{2k+1} \theta \, d\theta$ کو $\int \tan^{2k-1} \theta \, d\theta$ کی صورت میں لکھیں جہاں k مثبت عدد صحیح ہے

۱۲۴۹۰ سوال ۸.۸۶:

۱۲۴۹۱ ا. $\int \cot^3 \theta \, d\theta$ کو $\int \cot \theta \, d\theta$ کی صورت میں لکھ کر حل کریں۔(اشارہ: $\cot^2 \theta = \sec^2 \theta - 1$)

۱۲۴۹۲ ب. $\int \cot^5 \theta \, d\theta$ کو $\int \cot \theta^3 \, d\theta$ کی صورت میں لکھیں۔

۱۲۴۹۳ ج. $\int \cot^7 \theta \, d\theta$ کو $\int \cot \theta^5 \, d\theta$ کی صورت میں لکھیں۔

۱۲۴۹۴ د. $\int \cot^{2k+1} \theta \, d\theta$ کو $\int \cot^{2k-1} \theta \, d\theta$ کی صورت میں لکھیں جہاں k مثبت عدد صحیح ہے

۱۲۴۹۵ **نظریہ اور استعمال**

۱۲۴۹۶ سوال ۸.۸۷: بالائی جانب $y = 2\cos x$ اور زیریں جانب $y = \sec x, -\frac{\pi}{4} \leq x \leq \frac{\pi}{4}$ میں گھیرے ہوئے خطے کا رقبہ تلاش
۱۲۴۹۷ کریں۔

۱۲۴۹۸ سوال ۸.۸۸: ایک تکونی خطہ کا بالائی سرحد $y = \csc x$، نچلا سرحد $y = \sin x, \frac{\pi}{6} \leq x \leq \frac{\pi}{2}$ اور بایاں سرحد $x = \frac{\pi}{6}$ ہیں۔
۱۲۴۹۹ اس خطہ کا رقبہ معلوم کریں۔

۱۲۵۰۰ سوال ۸.۸۹: محور x کے گرد سوال ۸.۸۷ کا خطہ گھما کر جسم طواف پیدا کیا جاتا ہے۔اس جسم کا حجم تلاش کریں۔

۱۲۵۰۱ سوال ۸.۹۰: محور x کے گرد سوال ۸.۸۸ کا خطہ گھما کر جسم طواف پیدا کیا جاتا ہے۔اس جسم کا حجم تلاش کریں۔

۱۲۵۰۲ سوال ۸.۹۱: منحنی $y = \ln(\cos x), 0 \leq x \leq \frac{\pi}{3}$ کی لمبائی معلوم کریں۔

۱۲۵۰۳ سوال ۸.۹۲: منحنی $y = \ln(\sec x), 0 \leq x \leq \frac{\pi}{4}$ کی لمبائی معلوم کریں۔

سوال ۸.۹۳: محور x، قوس $y = \sec x$، لکیر $x = -\frac{\pi}{4}$ اور $x = \frac{\pi}{4}$ کے بیچ خطہ کا وسطانی مرکز تلاش کریں۔

سوال ۸.۹۴: محور x، قوس $y = \csc x$، لکیر $x = \frac{\pi}{6}$ اور $x = \frac{5\pi}{6}$ کے بیچ خطہ کا وسطانی مرکز تلاش کریں۔

سوال ۸.۹۵: تفاعل $\csc x$ کا تکمل

سیکنٹ اور ٹینجنٹ کی جگہ کوسیکنٹ اور کوٹینجنٹ استعمال کرتے ہوئے مثال ۸.۷ کی طرز پر درج ذیل حاصل کریں۔

$$\int \csc x \, \mathrm{d}x = -\ln|\csc x + \cot x| + C$$

سوال ۸.۹۶: دکھائیں کہ تکمل

$$\int ((x^2-1)(x+1))^{-2/3} \, \mathrm{d}x$$

کو درج ذیل تمام طریقوں سے حاصل کیا جا سکتا ہے۔

ا. $u = \frac{1}{x+1}$

ب. $u = \tan^{-1} x$

ج. $u = \tan^{-1} \sqrt{x}$

د. $u = \tan^{-1}(\frac{x-1}{2})$

ہ. $u = \cos^{-1} x$

و. $u = \cosh^{-1} x$

ز. $u = (\frac{x-1}{x+1})^k$

جہاں جزو-ز میں $k = 1, \frac{1}{2}, \frac{1}{3}, -\frac{1}{3}, -\frac{2}{3}, -1$ ہو سکتا ہے۔

۸.۲ تکمل بالحصص

تکمل بالحصص کی ترکیب سے تکمل

$$\int f(x)g(x) \, \mathrm{d}x \tag{1}$$

جس میں f بار بار قابل تفرق اور g بار بار قابل تکمل ہو کو کی سادہ روپ حاصل کی جا سکتی ہے۔ درج ذیل تکمل

$$\int xe^x \, \mathrm{d}x$$

۱۲۵۲۳ اس قسم کا ایک تکمل ہے جہاں $f(x) = x$ دو بار تفرق کے بعد صفر ہو جاتا ہے جبکہ $g(x) = e^x$ کا تکمل بار بار لیا جا سکتا ہے۔ تکمل بالحصص کی
۱۲۵۲۴ ترکیب درج ذیل قسم کے تکمل پر بھی قابل اطلاق ہے

$$\int e^x \sin x \, \mathrm{d}x$$

۱۲۵۲۵ جس میں ہر دو بار تفرق اور ہر دو بار تکمل کے بعد وہی f اور g دوبارہ حاصل ہوتے ہیں۔

۱۲۵۲۶ اس حصہ میں تکمل بالحصص پر غور کیا جائے گا اور اس کا استعمال سکھایا جائے گا۔

۱۲۵۲۷ تکمل بالحصص کا کلیہ

۱۲۵۲۸ **تکمل بالحصص**[1] کا کلیہ قاعدہ ضرب

$$\frac{\mathrm{d}}{\mathrm{d}x}(uv) = u\frac{\mathrm{d}v}{\mathrm{d}x} + v\frac{\mathrm{d}u}{\mathrm{d}x}$$

۱۲۵۲۹ سے حاصل ہوتا ہے جس کو تفریقی روپ

$$\mathrm{d}(uv) = u\,\mathrm{d}v + v\,\mathrm{d}u$$

۱۲۵۳۰ یا

$$u\,\mathrm{d}v = \mathrm{d}(uv) - v\,\mathrm{d}u$$

۱۲۵۳۱ میں لکھ کر تکمل لینے سے درج ذیل کلیہ اخذ ہوتا ہے۔

$$\int u\,\mathrm{d}v = uv - \int v\,\mathrm{d}u \qquad \text{کلیہ تکمل بالحصص} \qquad (۲)$$

۱۲۵۳۲ تکمل بالحصص کا کلیہ ایک تکمل، $\int u\,\mathrm{d}v$ کو دوسرے تکمل، $\int v\,\mathrm{d}u$، کی صورت میں بیان ہے۔ u اور v کی صحیح انتخاب سے دوسرا تکمل حل کرنا
۱۲۵۳۳ زیادہ آسان ہو گا۔ یہی اس کلیہ کی اہمیت کا سبب ہے۔ جب ہمیں کسی تکمل کو حل کرنے میں ناکامی ہو، ہم اس کو دوسرے تکمل میں تبدیل کر کے توقع کرتے ہیں
۱۲۵۳۴ کہ ہم اس نئے تکمل کو حل کر پائیں گے۔

۱۲۵۳۵ قطعی تکمل کے لئے مساوی کلیہ درج ذیل ہے جس کو شکل ۸.۱ میں دکھایا گیا ہے۔

$$\int_{v_1}^{v_2} u\,\mathrm{d}v = (u_2v_2 - u_1v_1) - \int_{u_1}^{u_2} v\,\mathrm{d}u \qquad (۳)$$

---

[1] integrationbyparts

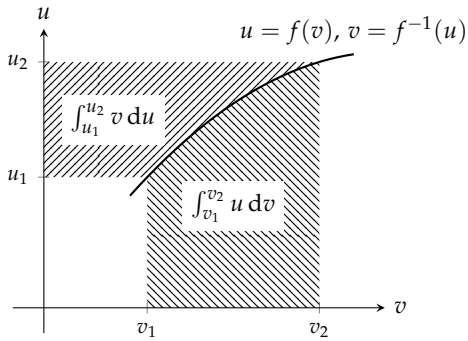

شکل ۸.۱: بڑے مستطیل سے چھوٹا مستطیل منفی کرنے سے $u_2v_2 - u_1v_1$ حاصل ہوتا ہے جس سے $\int v\,\mathrm{d}u$ منفی کرنے سے $\int u\,\mathrm{d}v$ حاصل ہو گا۔

تکمل بالحصص کب اور کیسا استعمال ہو گا

کب: اگر بدل سے مسئلہ حل نہ ہو تب تکمل بالحصص سے مسئلہ حل کرنے کی کوشش کریں۔

کیسے: دیے گئے تکمل $\int f(x)g(x)\,\mathrm{d}x$ کو تکمل $\int u\,\mathrm{d}v$ کی صورت میں لکھیں جہاں $\mathrm{d}x$ بشمول متکمل کا کچھ حصہ $\mathrm{d}v$ ہو۔

u اور $\mathrm{d}v$ کا انتخاب: کلیہ $\int u\,\mathrm{d}v = uv - \int v\,\mathrm{d}u$ دائیں ہاتھ ایک نیا تکمل دیتا ہے۔ اگر یہ نیا تکمل بائیں ہاتھ تکمل سے زیادہ پیچیدہ ہو تب u اور $\mathrm{d}v$ کا از سر نو انتخاب کریں۔

مثال ۸.۸: تکمل $\int x\cos x\,\mathrm{d}x$ حل کریں۔

حل: ہم تکمل بالحصص کے کلیہ $\int u\,\mathrm{d}v = uv - \int v\,\mathrm{d}u$ میں

$$\begin{aligned} u &= x, \quad & \mathrm{d}v &= \cos x\,\mathrm{d}x, \\ \mathrm{d}u &= \mathrm{d}x, \quad & v &= \sin x \end{aligned}$$

$cosx$ کا سادہ ترین الٹ تفرق

لیتے ہیں۔ یوں درج ذیل حاصل ہو گا۔

$$\int x\cos x\,\mathrm{d}x = x\sin x - \int \sin x\,\mathrm{d}x = x\sin x + \cos x + C$$

□

آئیں مثال ۸.۸ میں u اور $\mathrm{d}v$ کے مختلف انتخابات پر غور کرتے ہیں۔

مثال ۸.۹: دوبارہ مثال ۸.۸ پر غور کرتے ہیں درج ذیل تکمل

$$\int x\cos x\,\mathrm{d}x$$

۱۲۵۴۷ میں ہم انتخاب درج ذیل چار ممکنہ طریقوں سے کر سکتے ہیں۔

۱۲۵۴۸ ا. $u = 1, \quad \mathrm{d}v = x \cos x \, \mathrm{d}x$

۱۲۵۴۹ ب. $u = x, \quad \mathrm{d}v = \cos x \, \mathrm{d}x$

۱۲۵۵۰ ج. $u = x \cos x, \quad \mathrm{d}v = \mathrm{d}x$

۱۲۵۵۱ د. $u = \cos x, \quad \mathrm{d}v = x \, \mathrm{d}x$

۱۲۵۵۲ آئیں ان پر باری باری غور کریں۔

۱۲۵۵۳ چونکہ ہمیں $\mathrm{d}v = x \cos x \, \mathrm{d}x$ کا تکمل معلوم نہیں ہے لہٰذا انتخاب-اکار آمد نہیں ہو گا۔

۱۲۵۵۴ جیسا ہم نے مثال ۸.۸ میں دیکھا، انتخاب-ب کار آمد ہے۔

۱۲۵۵۵ انتخاب-ج درج ذیل دیتا ہے

$$\begin{aligned} u &= x \cos x, & \mathrm{d}v &= \mathrm{d}x \\ \mathrm{d}u &= (\cos x - x \sin x) \, \mathrm{d}x, & v &= x \end{aligned}$$

۱۲۵۵۶ لہٰذا نیا تکمل

$$\int v \, \mathrm{d}u = \int (x \cos x - x^2 \sin x) \, \mathrm{d}x$$

۱۲۵۵۷ ہو گا جو دیے گئے تکمل سے زیادہ مشکل ہے۔

۱۲۵۵۸ انتخاب-د درج ذیل دے گا

$$\begin{aligned} u &= \cos x, & \mathrm{d}v &= x \, \mathrm{d}x \\ \mathrm{d}u &= -\sin x \, \mathrm{d}x, & v &= \frac{x^2}{2} \end{aligned}$$

۱۲۵۵۹ لہٰذا نیا تکمل

$$\int v \, \mathrm{d}u = -\int \frac{x^2}{2} \sin x \, \mathrm{d}x$$

۱۲۵۶۰ ہو گا۔ یہ تکمل بھی دیے گئے تکمل سے زیادہ پیچیدہ ہے۔

۱۲۵۶۱ خلاصہ: یاد رہے کہ ہمارا مقصد $\int u \, \mathrm{d}v$ سے تکمل بالحصص کے ذریعہ نیا نسبتاً سادہ تکمل کا حصول ہے۔ بعض اوقات تکمل بالحصص ایسا کرنے میں ناکام ہو گا۔

۱۲۵۶۲ □

۱۲۵۶۳ مثال ۸.۱۰: ربع اول میں منحنی $y = e^x$، لکیر $x = \ln 2$ اور محددی محوروں کے بیچ خطہ کو محور y کے گرد گھما کر جسم طواف پیدا کیا جاتا ہے۔

۱۲۵۶۴ اس جسم کا حجم تلاش کریں۔

۱۳۵۶۵ حل: ہم بیلنی خول کی ترکیب استعمال کرتے ہیں جو درج ذیل دے گا۔

$$\begin{aligned} H &= \int_a^b 2\pi f(x)\,\mathrm{d}x \\ &= 2\pi \int_0^{\ln 2} xe^x\,\mathrm{d}x \end{aligned}$$

۱۳۵۶۶ ہم درج ذیل لیتے ہوئے اس تکمل کو کلیہ $\int u\,\mathrm{d}v = uv - \int v\,\mathrm{d}u$ سے حل کرتے ہیں۔

$$\begin{aligned} u &= x, \quad \mathrm{d}v = e^x\,\mathrm{d}x \\ \mathrm{d}u &= \mathrm{d}x, \quad v = e^x \end{aligned}$$

e^x کا سادہ ترین الٹ تفرق

۱۳۵۶۷ یوں

$$\int xe^x\,\mathrm{d}x = xe^x - \int e^x\,\mathrm{d}x$$

۱۳۵۶۸ ہو گا لہٰذا

$$\begin{aligned} \int_0^{\ln 2} xe^x\,\mathrm{d}x &= xe^x\Big|_0^{\ln 2} - \int_0^{\ln 2} e^x\,\mathrm{d}x \\ &= [\ln 2 e^{\ln 2} - 0] - [e^x]_0^{\ln 2} \\ &= 2\ln 2 - [2-1] \\ &= 2\ln 2 - 1 \end{aligned}$$

۱۳۵۶۹ حاصل ہو گا۔ اس طرح جسم طواف کا حجم درج ذیل ہو گا۔

$$\begin{aligned} H &= 2\pi \int_0^{\ln 2} xe^x\,\mathrm{d}x \\ &= 2\pi(2\ln 2 - 1) \end{aligned}$$

۱۳۵۷۰ □

۱۳۵۷۱ تکمل بالحصص وہاں بھی کارآمد ہو سکتا ہے جہاں متکمل صرف ایک جزو پر مبنی ہو۔ مثال کے طور پر ہم $\int \ln x\,\mathrm{d}x$ (اگلی مثال) یا $\int \cos^{-1} x\,\mathrm{d}x$

۱۳۵۷۲ (سوال ۸.۱۴۳) کو تکمل بالحصص سے حل کر سکتے ہیں۔

۱۳۵۷۳ مثال ۸.۱۱: تکمل $\int \ln x\,\mathrm{d}x$ حل کریں۔

۱۲۵۷۴ حل: ہم اس کو $\int \ln x \cdot 1\,\mathrm{d}x$ لکھ کر $\int u\,\mathrm{d}v = uv - \int v\,\mathrm{d}u$ استعمال کرتے ہیں جس میں

$$u = \ln x, \qquad \text{اس کا تفرق سادہ ہے}$$
$$\mathrm{d}v\,\mathrm{d}x, \qquad \text{اس کا تکمل آسان ہے}$$
$$\mathrm{d}u = \frac{1}{x}\,\mathrm{d},$$
$$v = u, \qquad \text{سادہ ترین الٹ تفرق}$$

۱۲۵۷۵ ہوں گے۔ یوں درج ذیل حاصل ہو گا۔

$$\int \ln x\,\mathrm{d}x = x\ln x - \int x \cdot \frac{1}{x}\,\mathrm{d}x = x\ln x - \int \mathrm{d}x = x\ln x - x + \mathrm{C}$$

۱۲۵۷۶ □

۱۲۵۷۷ **بار بار استعمال**

۱۲۵۷۸ بعض اوقات ایک سے زیادہ مرتبہ تکمل بالحصص استعمال کرتے ہوئے مسئلہ حل ہو گا۔

۱۲۵۷۹ مثال ۸.۱۲: تکمل $\int x^2 e^x\,\mathrm{d}x$ حل کریں۔

۱۲۵۸۰ حل: ہم کلیہ $\int u\,\mathrm{d}v = uv - \int v\,\mathrm{d}u$ میں

$$u = x^2, \quad \mathrm{d}v = e^x\,\mathrm{d}x, \quad v = e^x, \quad \mathrm{d}u = 2x\,\mathrm{d}x$$

۱۲۵۸۱ لیتے ہیں جس سے درج ذیل حاصل ہوتا ہے۔

$$\int x^2 e^x\,\mathrm{d}x = x^2 e^x - 2\int x e^x\,\mathrm{d}x$$

۱۲۵۸۲ ہمیں دائیں ہاتھ نیا تکمل حل کرنے کے لئے مزید ایک بار تکمل بالحصص استعمال کرنا ہو گا۔ ہم مثال ۸.۱۰ میں دیکھ چکے ہیں کہ اس کی قیمت $xe^x - e^x +$
۱۲۵۸۳ C ہے۔ یوں درج ذیل ملتا ہے۔

$$\int x^2 e^x\,\mathrm{d}x = x^2 e^x - 2xe^x + 2e^x + \mathrm{C}$$

۱۲۵۸۴ □

۱۲۵۸۵ نامعلوم تکمل کے لئے حل

۱۲۵۸۶ برقی انجینئری میں درج ذیل قسم کے تکمل پائے جاتے ہیں جن کے حل میں تکمل بالحصص دو بار استعمال کرنے کے بعد نامعلوم تکمل کے لئے حل درکار ہوتا ہے۔
۱۲۵۸۷ آئیں اس عمل کو ایک مثال کی مدد سے سمجھیں۔

۱۲۵۸۸ مثال ۸.۱۳: تکمل $\int e^x \cos x \, \mathrm{d}x$ حل کریں۔

۱۲۵۸۹ حل: ہم کلیہ $\int u \, \mathrm{d}v = uv - \int v \, \mathrm{d}u$ میں درج ذیل لیتے ہیں۔

$$u = e^x, \quad \mathrm{d}v = \cos x \, \mathrm{d}x, \quad v = \sin x, \quad \mathrm{d}u = e^x \, \mathrm{d}x$$

۱۲۵۹۰ یوں

$$\int e^x \cos x \, \mathrm{d}x = e^x \sin x - \int e^x \sin x \, \mathrm{d}x$$

۱۲۵۹۱ ہو گا جہاں نیا تکمل، دیے گئے تکمل کی طرح ہے۔ ان میں فرق صرف اتنا ہے کہ نئے تکمل میں $\cos x$ کے بجائے $\sin x$ ہے۔ ہم درج ذیل لیتے ہوئے
۱۲۵۹۲ اس نئے تکمل کو بھی تکمل بالحصص حل کرتے ہیں۔

$$u = e^x, \quad \mathrm{d}v = \sin x \, \mathrm{d}x, \quad v = -\cos x, \quad \mathrm{d}v = e^x \, \mathrm{d}x$$

۱۲۵۹۳ یوں

$$\begin{aligned}\int e^x \cos x \, \mathrm{d}x &= e^x \sin x - (-e^x \cos x - \int (-\cos x)(e^x \, \mathrm{d}x)) \\ &= e^x \sin x + e^x \cos x - \int e^x \cos x \, \mathrm{d}x\end{aligned}$$

۱۲۵۹۴ ہو گا جہاں نامعلوم تکمل دو بار پایا جاتا ہے۔ ہم نامعلوم تکمل کو ایک طرف منتقل کر کے

$$2 \int e^x \cos x \, \mathrm{d}x = e^x \sin x + e^x \cos x + C$$

۱۲۵۹۵ دونوں اطراف کو 2 سے تقسیم کرتے ہیں۔

$$\int e^x \cos x \, \mathrm{d}x = \frac{e^x \sin x + e^x \cos x}{2} + C'$$

۱۲۵۹۶ اگرچہ دوسرے تکمل میں $u = e^x$ اور $\mathrm{d}v = \sin x \, \mathrm{d}x$ کا انتخاب اختیاری معلوم ہوتا ہے، حقیقت میں ایسا نہیں ہے۔ اگر ہم $u = \sin x$
۱۲۵۹۷ اور $\mathrm{d}v = e^x \, \mathrm{d}x$ منتخب کریں تب

$$\begin{aligned}\int e^x \cos x \, \mathrm{d}x &= e^x \sin x - (e^x \sin x - \int e^x \cos x \, \mathrm{d}x) \\ &= \int e^x \cos x \, \mathrm{d}x\end{aligned}$$

۱۲۵۹۸ حاصل ہو گا، یعنی ہم وہیں ہیں جہاں سے شروع کیا تھا۔ اس طرز کے تکمل میں تفرق اور تکمل کے اجزاء منتخب کرنے کے بعد انہیں تبدیل نہ کریں۔ تفاعل

۱۲۵۹۹ $e^{ax}\cos bx$ اور اس سے ملتا جلتا تفاعل $e^{ax}\sin bx$ کے تکمل آپ کو کتاب کے آخر میں تکمل کے جدول میں ملیں گے۔ □

۱۲۶۰۰ جدولی تکمل

۱۲۶۰۱ ہم نے دیکھا اگر f کا تفرق بار بار لینے سے صفر ملتا ہو اور g کا تکمل بار بار با آسانی لینا ممکن ہو تب $\int f(x)g(x)\,\mathrm{d}x$ کو تکمل بالحصص سے حل کرنا

۱۲۶۰۲ ممکن ہو گا۔ بعض اوقات بار بار تکمل لینے کی تعداد اتنی زیادہ ہوتی ہے کہ اجزاء پر نظر رکھنا دشوار ہوتا ہے۔ ایسی صورت میں حساب کو ایسی ترتیب دی جا سکتی ہے

۱۲۶۰۳ جس سے کام میں کافی کمی پیدا ہوتی ہے۔ اس کو **جدولی تکمل**[۲] کہتے ہیں جس کی وضاحت درج ذیل مثال میں کی گئی ہے۔

۱۲۶۰۴ مثال ۸.۱۴: جدولی تکمل سے $\int x^2e^x\,\mathrm{d}x$ کو حل کریں۔

۱۲۶۰۵ حل: ہم $f(x)=x^2$ اور $g(x)=e^x$ لے کر اجزاء کو جدول میں درج کرتے ہیں۔

$f(x)$ اور اس کے تفرق		$g(x)$ اور اس کے تکمل
x^2	$(+)$	e^x
$2x$	$(-)$	e^x
2	$(+)$	e^x
0		e^x

۱۲۶۰۶ ہم تیر کے نشان سے جڑے ہوئے اجزاء کا مجموعہ لیتے ہوئے تیر کے وسط پر علامت استعمال کرتے ہیں۔ یوں درج ذیل حاصل ہو گا۔

$$\int x^2e^x\,\mathrm{d}x = x^2e^x - 2xe^x + 2e^x + \mathrm{C}$$

۱۲۶۰۷ □

۱۲۶۰۸ مثال ۸.۱۵: جدولی تکمل سے $\int x^3\sin x\,\mathrm{d}x$ حل کریں۔

۱۲۶۰۹ حل: ہم $f(x)=x^3$ اور $g(x)=\sin x$ لیتے ہیں۔

$f(x)$ اور اس کے تفرق		$g(x)$ اور اس کے تکمل
x^3	$(+)$	$\sin x$
$3x^2$	$(-)$	$-\cos x$
$6x$	$(+)$	$-\sin x$
6	$(-)$	$\cos x$
0		$\sin x$

[۲] tabularintegration

۱۳۶۱۰ ہم تیر کے نشان سے جوڑے گئے اجزاء کا مجموعہ لیتے ہوئے تیر کی نشان پر علامت استعمال کرتے ہیں۔ یوں درج ذیل ملتا ہے۔

$$\int x^3 \sin x \, \mathrm{d}x = -x^3 \cos x + 3x^2 \sin x + 6x \cos x - 6 \sin x + C$$

۱۳۶۱۱ □

۱۳۶۱۲ **سوالات**

۱۳۶۱۳ **تکمل بالحصص**

۱۳۶۱۴ سوال ۸.۹۷ تا سوال ۸.۱۲۰ کو حل کریں۔

۱۳۶۱۵ سوال ۸.۹۷: $\int x \sin \frac{x}{2} \, \mathrm{d}x$

۱۳۶۱۶ سوال ۸.۹۸: $\int \theta \cos \pi\theta \, \mathrm{d}\theta$

۱۳۶۱۷ سوال ۸.۹۹: $\int t^2 \cos t \, \mathrm{d}t$

۱۳۶۱۸ سوال ۸.۱۰۰: $\int x^2 \sin x \, \mathrm{d}x$

۱۳۶۱۹ سوال ۸.۱۰۱: $\int_1^2 x \ln x \, \mathrm{d}x$

۱۳۶۲۰ سوال ۸.۱۰۲: $\int_1^e x^3 \ln x \, \mathrm{d}x$

۱۳۶۲۱ سوال ۸.۱۰۳: $\int \tan^{-1} y \, \mathrm{d}y$

۱۳۶۲۲ سوال ۸.۱۰۴: $\int \sin^{-1} y \, \mathrm{d}y$

۱۳۶۲۳ سوال ۸.۱۰۵: $\int x \sec^2 x \, \mathrm{d}x$

۱۳۶۲۴ سوال ۸.۱۰۶: $\int 4x \sec^2 2x \, \mathrm{d}x$

۱۳۶۲۵ سوال ۸.۱۰۷: $\int x^3 e^x \, \mathrm{d}x$

۱۳۶۲۶ سوال ۸.۱۰۸: $\int p^4 e^{-p} \, \mathrm{d}p$

۱۳۶۲۷ سوال ۸.۱۰۹: $\int (x^2 - 5x) e^x \, \mathrm{d}x$

۱۳۶۲۸ سوال ۸.۱۱۰: $\int (r^2 + r + 1) e^r \, \mathrm{d}r$

۱۳۶۲۹ سوال ۸.۱۱۱: $\int x^5 e^x \, \mathrm{d}x$

۱۳۶۳۰ سوال ۸.۱۱۲: $\int t^2 e^{4t} \, \mathrm{d}t$

۱۳۶۳۱ سوال ۸.۱۱۳: $\int_0^{\pi/2} \theta^2 \sin 2\theta \, \mathrm{d}\theta$

۱۳۶۳۲ سوال ۸.۱۱۴: $\int_0^{\pi/2} x^3 \cos 2x \, \mathrm{d}x$

سوال ۸.۱۱۵: $\int_{2/\sqrt{3}}^{2} t \sec^{-1} t \, dt$

سوال ۸.۱۱۶: $\int_{0}^{1/\sqrt{2}} 2x \sin^{-1}(x^2) \, dx$

سوال ۸.۱۱۷: $\int e^{\theta} \sin\theta \, d\theta$

سوال ۸.۱۱۸: $\int e^{-y} \cos y \, dy$

سوال ۸.۱۱۹: $\int e^{2x} \cos 3x \, dx$

سوال ۸.۱۲۰: $\int e^{-2x} \sin 2x \, dx$

بدل اور تکمل بالحصص

سوال ۸.۱۲۱ تا سوال ۸.۱۲۶ میں تکمل بالحصص سے پہلے بدل استعمال کریں۔

سوال ۸.۱۲۱: $\int e^{\sqrt{3s+9}} \, ds$

سوال ۸.۱۲۲: $\int_{0}^{1} x\sqrt{1-x} \, dx$

سوال ۸.۱۲۳: $\int_{0}^{\pi/3} x \tan^2 x \, dx$

سوال ۸.۱۲۴: $\int \ln(x+x^2) \, dx$

سوال ۸.۱۲۵: $\int \sin(\ln x) \, dx$

سوال ۸.۱۲۶: $\int z(\ln z)^2 \, dz$

نظریہ اور مثالیں

سوال ۸.۱۲۷: محور x اور منحنی $y = x \sin x$ کے بیچ (شکل ۸.۲) وقفہ (ا) $0 \le x \le \pi$، (ب) $\pi \le x \le 2\pi$، اور (ج) $2\pi \le x \le 3\pi$ پر رقبہ تلاش کریں۔ (د) آپ کو کیا نقش نظر آتا ہے؟ وقفہ $n\pi \le x \le (n+1)\pi$، جہاں n غیر منفی عدد صحیح ہے، پر یہ رقبہ کتنا ہو گا؟ اپنے جواب کی وجہ پیش کریں۔

سوال ۸.۱۲۸: منحنی $y = x \cos x$ اور محور x کے بیچ (شکل ۸.۳) وقفہ (ا) $\frac{\pi}{2} \le x \le \frac{3\pi}{2}$، (ب) $\frac{3\pi}{2} \le x \le \frac{5\pi}{2}$، اور (ج) $\frac{5\pi}{2} \le x \le \frac{7\pi}{2}$ پر رقبہ معلوم کریں۔ (د) آپ کو کیا نقش نظر آتا ہے؟ وقفہ $\left(\frac{2n-1}{2}\right)\pi \le x \le \left(\frac{2n+1}{2}\right)\pi$ پر یہ رقبہ کتنا ہو گا، جہاں n اختیاری عدد صحیح ہے؟ اپنے جواب کی وجہ پیش کریں۔

سوال ۸.۱۲۹: ربع اول میں محددی محور، منحنی $y = e^x$ اور لکیر $x = \ln 2$ کے بیچ خطہ کو لکیر $x = \ln 2$ کے گرد گھما کر جسم طواف پیدا کیا جاتا ہے۔ اس جسم کا حجم تلاش کریں۔

سوال ۸.۱۳۰: ربع اول میں محددی محور، منحنی $y = e^{-x}$ اور لکیر $x = 1$ کے بیچ خطہ کو (ا) محور y، (ب) لکیر $x = 1$ کے گرد گھما کر جسم طواف پیدا کیا جاتا ہے۔ ان اجسام کے حجم تلاش کریں۔

سوال ۸.۱۳۱: ربع اول میں محددی محور، منحنی $y = \cos x, \ 0 \le x \le \frac{\pi}{2}$ اور لکیر $x = \frac{\pi}{2}$ کے بیچ خطہ کو (ا) محور y، (ب) لکیر $x = \frac{\pi}{2}$ کے گرد گھما کر جسم طواف پیدا کیا جاتا ہے۔ ان اجسام کے حجم تلاش کریں۔

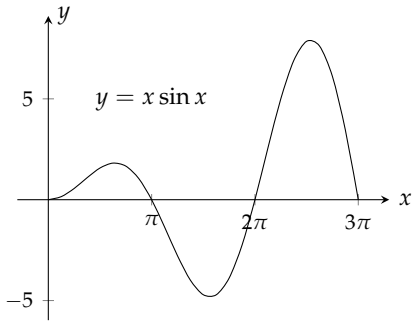

شکل ۸.۲: ترسیم برائے سوال ۸.۱۲۷

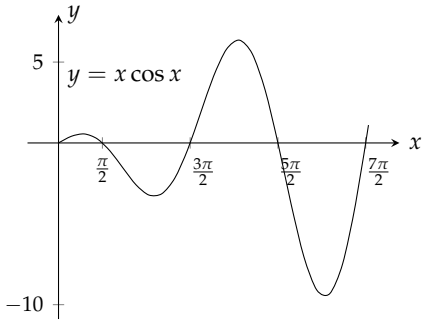

شکل ۸.۳: ترسیم برائے سوال ۸.۱۲۸

سوال ۸.۱۳۲: محور x اور منحنی $y = x \sin x,\ 0 \le x \le \pi$ کے بیچ خطہ کو (ا) محور y، (ب) لکیر $x = \pi$ کے گرد گھما کر جسم طواف پیدا کیا جاتا ہے (منحنی کے لئے شکل ۸.۲ دیکھیں)۔ ان اجسام کے حجم تلاش کریں۔

سوال ۸.۱۳۳: (ا) ربع اول میں محور x، منحنی $y = x^2 e^x$ اور لکیر $x = 1$ کے بیچ یکساں کثافت کی چادر پائی جاتی ہے۔ اس چادر کا وسطانی مرکز تلاش کریں۔ (ب) وسطانی مرکز کو 2 اعشاریہ تک تلاش کریں اور اس کی نشاندہی خطہ کے خاکہ پر کریں۔

سوال ۸.۱۳۴: (ا) محور x، منحنی $y = \ln x$ اور لکیر $x = e$ کے بیچ یکساں کثافت کی چادر پائی جاتی ہے۔ اس چادر کا وسطانی مرکز تلاش کریں۔ (ب) وسطانی مرکز کو 2 اعشاریہ تک تلاش کریں اور اس کی نشاندہی خطہ کے خاکہ پر کریں۔

سوال ۸.۱۳۵: ایک چادر کی کثافت $\delta = 1 + x$ ہے۔ یہ چادر محور x اور منحنی $y = \sin x,\ 0 \le x \le \pi$ کے بیچ پائی جاتی ہے۔ محور y کے لحاظ سے اس چادر کا معیار اثر تلاش کریں۔

سوال ۸.۱۳۶: اگرچہ ہم $\int \mathrm{d}v$ کو تکمل بالحصص سے حل کر کے v کی تلاش میں تکمل کے مستقل کو صفر تصور کر کے رد کرتے ہیں۔ بعض اوقات اس مستقل کو غیر صفر تصور کرنا بہتر ثابت ہوتا ہے۔ مثال کے طور پر

$$\int x \tan^{-1} x \,\mathrm{d}x$$

میں $u = \tan^{-1} x$ اور $v = \frac{x^2}{2} + \mathrm{C}$ لے کر C کی ایسی قیمت منتخب کریں جس سے حاصل کلیہ کی سادہ صورت ملتی ہو۔

سوال ۸.۱۳۷: چھت سے جڑے ہوئے اسپرنگ کے نچلے سرے ایک کمیت آویزاں ہے جس کی حرکت میں رکاوٹ پیدا کرنے کی خاطر اسپرنگ کے نچلے سر کو بند بیلن میں چلنے والے ایک بوکا کے ساتھ جوڑا گیا ہے۔ حرکت میں رکاوٹ پیدا کرنے والے اس نظام کو اصطلاحاً **جاذب**[۳] کہتے ہیں (شکل ۸.۴)۔ یوں لمحہ t پر کمیت کا مقام

$$y = 2e^{-t} \cos t, \quad t \ge 0$$

[۳] dashpot

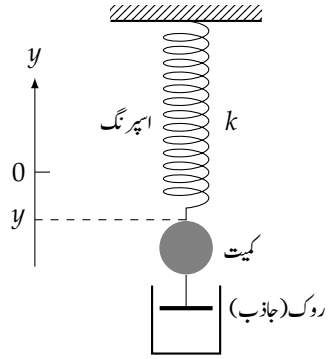

شکل ۸.۴: اسپرنگ، کمیت اور جاذب کا قصری نظام (سوال ۸.۱۳۷ اور سوال ۸.۱۳۸)۔

۱۲۶۷۴ ہوگا۔(ا) وقفہ $0 \le t \le 2\pi$ پر y کی اوسط قیمت تلاش کریں۔(ب) وقفہ $0 \le t \le 2\pi$ پر y ترسیم کرکے محور y پر y کی اوسط قیمت
۱۲۶۷۵ کی نشاندہی کریں۔

۱۲۶۷۶ سوال ۸.۱۳۸: اسپرنگ، کمیت اور روک کا نظام شکل ۸.۴ میں دکھایا گیا ہے۔ لمحہ t پر کمیت کا مقام درج ذیل ہے۔

$$y = 4e^{-t}(\sin t - \cos t), \quad t \ge 0$$

۱۲۶۷۷ (ا) وقفہ $0 \le t \le 2\pi$ پر y کی اوسط قیمت تلاش کریں۔(ب) وقفہ $0 \le t \le 2\pi$ پر y ترسیم کرکے محور y پر y کی اوسط قیمت کی
۱۲۶۷۸ نشاندہی کریں۔

۱۲۶۷۹ الٹے تفاعل کے تکمل

۱۲۶۸۰ تکمل بالحصص کے استعمال سے الٹ تفاعل کا تکمل حاصل کرنے سے ایک قاعدہ اخذ ہوتا ہے جو عموماً اچھے نتائج دیا ہے:

$$\begin{aligned}
\int f^{-1}(x)\,\mathrm{d}x &= \int y f'(y)\,\mathrm{d}y && y = f^{-1}(x),\ x = f(y),\ \mathrm{d}x = f'(y)\,\mathrm{d}y \\
&= y f(y) - \int f(y)\,\mathrm{d}y && u = y \text{ اور } \mathrm{d}v = f'(y)\,\mathrm{d}y \text{ لے کر تکمل بالحصص} \\
&= x f^{-1}(x) - \int f(y)\,\mathrm{d}y
\end{aligned}$$

۱۲۶۸۱ ہمارا غرض پہلے متکمل کے پیچیدہ ترین حصہ، جو یہاں $f^{-1}(x)$ ہے، کی سادہ صورت کا حصول ہے۔ یوں $\ln x$ کا تکمل درج ذیل ہوگا۔

$$\begin{aligned}
\int \ln x\,\mathrm{d}x &= \int y e^y\,\mathrm{d}y && y = \ln x,\ x = e^y,\ \mathrm{d}x = e^y\,\mathrm{d}y \\
&= y e^y - e^y + C \\
&= x \ln x - x + C
\end{aligned}$$

۱۲۶۸۲ تفاعل $\cos^{-1} x$ کا تکمل درج ذیل ہو گا۔

$$\begin{aligned}\int \cos^{-1} x \,\mathrm{d}x &= x\cos^{-1} x - \int \cos y \,\mathrm{d}y \qquad\qquad y = \cos^{-1} x\\ &= x\cos^{-1} x - \sin y + C\\ &= x\cos x^{-1}x - \sin(\cos^{-1} x) + C\end{aligned}$$

۱۲۶۸۳ سوال ۸.۱۳۹ تا سوال ۸.۱۴۲ میں درج ذیل کلیہ استعمال کرتے ہوئے تکمل حل کریں۔ جواب کو x کی صورت میں لکھیں۔

$$\int f^{-1}(x)\,\mathrm{d}x = xf^{-1}(x) - \int f(y)\,\mathrm{d}y \qquad\qquad y = f^{-1}(x) \tag{۴}$$

۱۲۶۸۴ سوال ۸.۱۳۹: $\int \sin^{-1} x \,\mathrm{d}x$

۱۲۶۸۵ سوال ۸.۱۴۰: $\int \tan^{-1} x \,\mathrm{d}x$

۱۲۶۸۶ سوال ۸.۱۴۱: $\int \sec^{-1} x \,\mathrm{d}x$

۱۲۶۸۷ سوال ۸.۱۴۲: $\int \log_2 x \,\mathrm{d}x$

۱۲۶۸۸ قابل تکمل تفاعل $f^{-1}(x)$ کو تکمل بالحصص سے دوسرے طریقہ سے بھی حل کیا جا سکتا ہے جس میں $u = f^{-1}(x)$ اور $\mathrm{d}v = \mathrm{d}x$ لیتے
۱۲۶۸۹ ہوئے درج ذیل لکھا جا سکتا ہے۔

$$\int f^{-1}(x)\,\mathrm{d}x = xf^{-1}(x) - \int x\left(\frac{\mathrm{d}}{\mathrm{d}x}f^{-1}(x)\right)\mathrm{d}x \tag{۵}$$

۱۲۶۹۰ سوال ۸.۱۴۳ اور سوال ۸.۱۴۴ میں مساوات ۴ اور مساوات ۵ سے حاصل نتائج کا موازنہ کیا گیا ہے۔

۱۲۶۹۱ سوال ۸.۱۴۳: تفاعل $\cos^{-1}(x)$ کو مساوات ۴ اور مساوات ۵ سے حل کرتے ہوئے درج ذیل، ایک دوسرے سے مختلف، نتائج حاصل ہوتے
۱۲۶۹۲ ہیں۔

$$\begin{aligned}\int \cos^{-1} x \,\mathrm{d}x &= x\cos^{-1} x - \sin(\cos^{-1} x) + C\\ \int \cos^{-1} x \,\mathrm{d}x &= x\cos^{-1} x - \sqrt{1-x^2} + C\end{aligned} \tag{۶}$$

۱۲۶۹۳ کیا دونوں نتائج درست ہو سکتے ہیں؟ وجہ پیش کریں۔

۱۲۶۹۴ سوال ۸.۱۴۴: تفاعل $\tan^{-1}(x)$ کو مساوات ۴ اور مساوات ۵ سے حل کرتے ہوئے درج ذیل، ایک دوسرے سے مختلف، نتائج حاصل ہوتے
۱۲۶۹۵ ہیں۔

$$\begin{aligned}\int \tan^{-1} x \,\mathrm{d}x &= x\tan^{-1} x - \ln\sec(\tan^{-1} x) + C\\ \int \tan^{-1} x \,\mathrm{d}x &= x\tan^{-1} x - \ln\sqrt{1+x^2} + C\end{aligned} \tag{۷}$$

کیا دونوں نتائج درست ہو سکتے ہیں؟ وجہ پیش کریں۔

سوال ۸.۱۴۵ اور سوال ۸.۱۴۶ کو مساوات ۴ اور مساوات ۵ سے حل کریں۔ ہر بار حاصل نتیجہ کا تفرق لے کر اس کی درستگی کی تصدیق کریں۔

سوال ۸.۱۴۵: $\int \sin^{-1} x \, dx$

سوال ۸.۱۴۶: $\int \tan^{-1} x \, dx$

۸.۳ جزوی کسر

اعلیٰ الجبرا کا ایک مسئلہ (جس کو زیادہ تفصیل سے بعد میں پیش کیا جائے گا) کہتا ہے کہ کوئی بھی ناطق تفاعل، جو جتنا بھی پیچیدہ کیوں نہ ہو، کو سادہ کسور کا مجموعہ لکھا جا سکتا ہے جنہیں ہم اب تک جانتے ہوئے تراکیب سے تکمل کر سکتے ہیں۔ مثال کے طور پر

$$\frac{5x-3}{x^2-2x-3} = \frac{2}{x+1} + \frac{3}{x-3} \tag{1}$$

ہو گا لہٰذا بائیں ہاتھ ناطق تفاعل کا تکمل حاصل کرنے کی خاطر ہم دائیں ہاتھ سادہ کسور کا تکمل لیں گے۔

ناطق تفاعل کو اس طرح سادہ کسور کی صورت میں لکھنے کو **جزوی کسری ترکیب**[4] کہتے ہیں۔ اس ترکیب میں مستقل A اور B کی وہ قیمتیں حاصل کی جاتی ہیں جو

$$\frac{5x-3}{x^2-2x-3} = \frac{5x-3}{(x+1)(x-3)} = \frac{A}{x+1} + \frac{B}{x-3} \tag{2}$$

کو مطمئن کرتے ہوں۔ فرض کریں ہمیں A اور B کی قیمتیں معلوم نہیں ہیں۔ ہم $\frac{A}{x+1}$ اور $\frac{B}{x-3}$ کو **جزوی کسر**[5] کہتے ہیں جبکہ A اور B کی قیمتیں حاصل نہ کر دی جائیں انہیں نامعلوم مستقل کہتے ہیں۔

نامعلوم مستقل اور دریافت کرنے سے پہلے ہم مساوات ۲ میں نسب نما سے چھٹکارا حاصل کرتے ہیں۔

$$5x-3 = A(x-3) + B(x+1) = (A+B)x - 3A + B$$

یہ مساوات تب درست ہو گی جب دونوں اطراف x کے یکساں طاقت کے جزو ضربی ایک دوسرے کے برابر ہوں:

$$A + B = 5, \quad -3A + B = -3$$

انہیں بیک وقت حل کرتے ہوئے $A = 2$ اور $B = 3$ حاصل ہوتے ہیں۔

---

[4] methodofpartialfractions
[5] partialfractions

۱۲۷۱۳ مثال ۸.۱۶: نسب نما میں دو علیحدہ علیحدہ خطی اجزائے ضربی

۱۲۷۱۴ درج ذیل حل کریں۔

$$\int \frac{5x-3}{(x+1)(x-3)}\,\mathrm{d}x$$

۱۲۷۱۵ حل: مذکورہ بالا تبصرہ سے درج ذیل حاصل ہو گا۔

$$\begin{aligned}\int \frac{5x-3}{(x+1)(x-3)}\,\mathrm{d}x &= \int \frac{2}{x+1}\,\mathrm{d}x + \int \frac{3}{x-3}\,\mathrm{d}x \\ &= 2\ln|x+1| + 3\ln|x-3| + C\end{aligned}$$

۱۲۷۱۶ □

۱۲۷۱۷ مثال ۸.۱۷: نسب نما میں جزو ضربی کا تکرار

۱۲۷۱۸ درج ذیل کو جزوی کسور کا مجموعہ لکھیں۔

$$\frac{6x+7}{(x+2)^2}$$

۱۲۷۱۹ حل: چونکہ نسب نما میں $x+2$ ایک سے زیادہ مرتبہ پایا جاتا ہے لہٰذا جزوی کسر کو درج ذیل صورت میں لکھنا لازمی ہے۔

$$\frac{6x+7}{(x+2)^2} = \frac{A}{x+2} + \frac{B}{(x+2)^2} \tag{۳}$$

۱۲۷۲۰ مساوات ۳ کے نسب نما سے چھٹکارا حاصل کرتے ہیں:

$$6x+7 = A(x+2) + B = Ax + (2A+B)$$

۱۲۷۲۱ دونوں اطراف ایک سی طاقتوں کے جزو ضربی کو آپس میں برابر پر کرتے ہوئے $A = 6$ اور

$$7 = 2A + B = 12 + B, \quad \Longrightarrow \quad B = -5$$

۱۲۷۲۲ ملتا ہے۔ یوں درج ذیل ہو گا۔

$$\frac{6x+7}{(x+2)^2} = \frac{6}{x+2} - \frac{5}{(x+2)^2}$$

۱۲۷۲۳ □

۱۲۷۲۴ نامعلوم مستقل کی قیمت کی تلاش

۱۲۷۲۵ ا. دیے گئے مساوات میں نسب نما کو ختم کریں۔

۱۲۷۲۶ ب. دونوں اطراف x کے یکساں طاقتوں کے اجزائے ضربی کو ایک دوسرے کے برابر پر کریں۔

۱۲۷۲۷ ج. حاصل مساوات کو بیک وقت حل کے نامعلوم مستقل کی قیمتیں دریافت کریں۔

۱۲۷۲۸ **مثال ۸.۱۸:** ایک غیر مناسب کسر

۱۲۷۲۹ درج ذیل کو جزوی کسور کے مجموعہ کی صورت میں لکھیں۔

$$\frac{2x^3-4x^2-x-3}{x^2-2x-3}$$

۱۲۷۳۰ حل: ہم شمار کنندہ کو نسب نما سے تقسیم کرتے ہیں۔

۱۲۷۳۱

$$\begin{array}{r|l} & \quad 2x \\ \hline x^2-2x-3 & 2x^3-4x^2 \quad -x-3 \\ & -2x^3+4x^2+6x \\ \hline & \qquad\qquad 5x-3 \end{array}$$

۱۲۷۳۲ یوں ایک کثیر رکنی اور ایک مناسب کسر حاصل ہوتا ہے۔ اس کے بعد مناسب کسر کو جزوی کسور کا مجموعہ لکھتے ہیں۔

$$\begin{aligned} \frac{2x^3-4x^2-x-3}{x^2-2x-3} &= 2x+\frac{5x-3}{x^2-2x-3} && \text{تقسیم کا نتیجہ} \\ &= 2x+\frac{2}{x+1}+\frac{3}{x-3} && \text{مناسب کسر کا جزوی کسری مجموعہ} \end{aligned}$$

۱۲۷۳۳ □

۱۲۷۳۴ **مثال ۸.۱۹:** نسب نما میں ناقابل تخفیف دو درجی جزو

۱۲۷۳۵ درج ذیل کو جزوی کسور کا مجموعہ لکھیں۔

$$\frac{-2x+4}{(x^2+1)(x-1)^2}$$

۱۲۷۳۶ ایسا دو درجی کثیر رکنی جس کو حقیقی عددی سر والے خطی اجزائے ضربی کا حاصل ضرب لکھنا ممکن نہ ہو **ناقابل تخفیف**[۶] کہلاتا ہے۔

۱۲۷۳۷ حل: نسب نما میں ناقابل تخفیف جزو کے علاوہ دہرایا گیا جزو بھی پایا جاتا ہے۔ یوں ہم درج ذیل لکھتے ہیں۔

$$\frac{-2x+4}{(x^2+1)(x-1)^2}=\frac{Ax+B}{x^2+1}+\frac{C}{x-1}+\frac{D}{(x-1)^2} \tag{۴}$$

---

[۶] irreducible

۱۲۷۳۸ دو درجی جزو ضربی کے لئے ہم یک درجی شمار کنندہ استعمال کرتے ہیں تاکہ مستقل شمار کنندہ، لہٰذا x^2+1 کا شمار کنندہ $Ax+B$ لکھا گیا ہے۔ نسب نما
۱۲۷۳۹ سے چھٹکارا حاصل کر کے درج ذیل ملتا ہے۔

$$\begin{aligned}-2x+4 &= (Ax+B)(x-1)^2+C(x-1)(x^2+1)+D(x^2+1)\\ &= (A+C)x^3+(-2A+B-C+D)x^2+(A-2B+C)x+(B-C+D)\end{aligned}$$

۱۲۷۴۰ یکساں اجزاء (جن میں x کے طاقت یکساں ہوں) کے ضربی کو ایک دوسرے کے برابر پر کرتے ہیں:

$$\begin{aligned}0 &= A+C && x^3\text{ کا ضربیہ}\\ 0 &= -2A+B-C+D && x^2\text{ کا ضربیہ}\\ -2 &= A-2B+C && x^1\text{ کا ضربیہ}\\ 4 &= B-C+D && x^0\text{ کا ضربیہ}\end{aligned}$$

۱۲۷۴۱ ان مساوات کو بیک وقت حل کرتے ہوئے درج ذیل حاصل ہو گا۔

$$\begin{aligned}-4 &= -2A, \quad A=2 && \text{چوتھی مساوات کو پہلی سے منفی کریں}\\ C &= -A=-2 && \text{پہلی مساوات سے}\\ B &= 1 && C=-2\text{ اور }A=2\text{ تیسری میں}\\ D &= 4-B+C=1 && \text{چھوتی مساوات سے}\end{aligned}$$

۱۲۷۴۲ ان مستقل کو مساوات ۴ میں پر کر کے نتیجہ حاصل کرتے ہیں۔

$$\frac{-2x+4}{(x^2+1)(x-1)^2}=\frac{2x+1}{x^2+1}-\frac{2}{x-1}+\frac{1}{(x-1)^2}$$

۱۲۷۴۳ □

۱۲۷۴۴ مثال ۸.۲۰: تکمل $\int \frac{-2x+4}{(x^2+1)(x-1)^2}\,\mathrm{d}x$ حل کریں۔

۱۲۷۴۵ حل: ہم مثال ۸.۱۹ کی طرح متکمل کو جزوی کسری روپ میں لکھ کر جزو در جزو تکمل لیتے ہیں۔

مثال ۸.۱۹

$$\begin{aligned}\int \frac{-2x+4}{(x^2+1)(x-1)^2}\,\mathrm{d}x &= \int\left(\frac{2x+1}{x^2+1}-\frac{2}{x-1}+\frac{1}{(x-1)^2}\right)\mathrm{d}x\\ &= \int\left(\frac{2x}{x^2+1}+\frac{1}{x^2+1}-\frac{2}{x-1}+\frac{1}{(x-1)^2}\right)\mathrm{d}x\\ &= \ln(x^2+1)+\tan^{-1}x-2\ln|x-1|-\frac{1}{x-1}+C\end{aligned}$$

۱۲۷۴۶ □

ترکیب پر عمومی تبصرہ

ناطق تفاعل $\frac{f(x)}{g(x)}$ کو جزوی کسری مجموعہ کی صورت میں لکھنا دو چیزوں پر منحصر ہے:

ا. $f(x)$ کا درجہ $g(x)$ کے درجہ سے کم ہونا ضروری ہے۔ ایسا نہ ہونے کی صورت میں f کو g سے تقسیم کر کے باقی کے ساتھ کام کریں۔

ب. $g(x)$ کے اجزائے ضربی معلوم ہونا ضروری ہے۔ کثیر رکنی کا نظریہ کہتا ہے کہ حقیقی عددی سر والے ہر کثیر رکنی کو حقیقی خطی اجزائے ضربی کا حاصل ضرب لکھا جا سکتا ہے۔ حقیقت میں ان اجزائے ضربی کو معلوم کرنا نہایت مشکل ہو سکتا ہے۔

اعلیٰ الجبرا کا ایک مسئلہ کہتا ہے کہ جب یہ شرائط پورے ہوں تب $\frac{f(x)}{g(x)}$ کو درج ذیل اقدام سے جزوی کسری مجموعہ لکھا جا سکتا ہے۔

ترکیب جزوی کسری مجموعہ (مناسب $\frac{f(x)}{g(x)}$)

ا. فرض کریں $g(x)$ کا ایک خطی جزو ضربی $x-r$ ہے اور $x-r$ کا بلند تر طاقت جو $g(x)$ کو تقسیم کر سکتا ہو $(x-r)^m$ ہے۔ تب اس جزو ضربی کو درج ذیل اجزاء مختص کریں۔

$$\frac{A_1}{x-r}+\frac{A_2}{(x-r)^2}+\cdots+\frac{A_m}{(x-r)^m}$$

$g(x)$ کے ہر منفرد جزو ضربی کے لئے یہی کریں۔

ب. فرض کریں $g(x)$ کا ایک ناقابل تخفیف دو درجی جزو ضربی x^2+px+q ہے اور $(x^2+px+q)^n$ اس جزو کا بلند تر طاقت ہے جو $g(x)$ کو تقسیم کر سکتا ہو۔ تب اس جزو ضربی کو درج ذیل اجزاء مختص کریں:

$$\frac{B_1x+C_1}{x^2+px+q}+\frac{B_2x+C_2}{(x^2+px+q)^2}+\cdots+\frac{B_nx+C_n}{(x^2+px+q)^n}$$

$g(x)$ کے ہر منفرد دو درجی جزو ضربی، جس کو حقیقی عددی سر والے خطی اجزائے ضربی کا حاصل ضرب لکھنا ممکن نہ ہو، کے لئے یہی کریں۔

ج. اصل کسر $\frac{f(x)}{g(x)}$ کو ان تمام کے مجموعہ کے برابر لکھیں۔ حاصل مساوات کے نسب نما سے چھٹکارا حاصل کر کے اجزاء کو x کے گھٹتے طاقت کے لحاظ سے ترتیب دیں۔

د. x کے یکساں طاقت کے عددی سر کو برابر پر کر کے حاصل مساوات کو بیک وقت حل کر کے تمام نامعلوم مستقل کی قیمتیں تلاش کریں۔

خطی جزو ضربی کے ''ڈھانپنے'' کی ترکیب ہیوی سائیڈ

جب کثیر رکنی $f(x)$ کا درجہ $g(x)$ کے درجہ سے کم ہو، اور

$$g(x)=(x-r_1)(x-r_2)\cdots(x-r_n)$$

n عدد منفرد خطی اجزائے ضربی کا حاصل ضرب ہو جہاں ہر جزو کا طاقت ایک ہو، تب $\frac{f(x)}{g(x)}$ کا جزوی کسری مجموعہ با آسانی حاصل کیا جا سکتا ہے۔

۱۲۷۶۶ مثال ۸.۲۱: درج ذیل کسری جزوی مجموعہ میں A ، B اور C تلاش کریں۔

$$\frac{x^2+1}{(x-1)(x-2)(x-3)} = \frac{A}{x-1} + \frac{B}{x-2} + \frac{C}{x-3} \tag{۵}$$

۱۲۷۶۷ حل: دونوں اطراف کو $(x-1)$ سے ضرب دے کر

$$\frac{x^2+1}{(x-2)(x-3)} = A + \frac{B(x-1)}{x-2} + \frac{C(x-1)}{x-3}$$

۱۲۷۶۸ ملتا ہے جس میں $x=1$ پر کرنے سے A حاصل ہوتا ہے۔

$$\frac{(1)^2+1}{(1-2)(1-3)} = A + 0 + 0, \quad \Longrightarrow \quad A = 1$$

۱۲۷۶۹ ہم اصل کسر

$$\frac{x^2+1}{(x-1)(x-2)(x-3)}$$

۱۲۷۷۰ کے نسب نما میں $(x-1)$ کو ڈھانپ کر پوشیدہ کر کے باقی حصہ میں $x=1$ پر کر کے A کی یہی قیمت حاصل کر سکتے ہیں:

$$A = \frac{(1)^2+1}{\underbrace{\boxed{(x-1)}}_{\text{پوشیدہ}}(1-2)(1-3)} = \frac{2}{(-1)(-2)} = 1$$

۱۲۷۷۱ اسی طرح مساوات ۵ میں $(x-2)$ کو ڈھانپ کر باقی حصہ میں $x=2$ پر کر کے B حاصل ہو گا۔

$$B = \frac{(2)^2+1}{(2-1)\underbrace{\boxed{(x-2)}}_{\text{پوشیدہ}}(2-3)} = \frac{5}{(1)(-1)} = -5$$

۱۲۷۷۲ اور آخر میں مساوات ۵ میں $(x-3)$ کو ڈھانپ کر باقی حصہ میں $x=3$ پر کر کے C حاصل ہو گا۔

$$C = \frac{(3)^2+1}{(3-1)(3-2)\underbrace{\boxed{(x-3)}}_{\text{پوشیدہ}}} = \frac{10}{(2)(1)} = 5$$

۱۲۷۷۳ □

۱۲۷۷۴ ڈھانپنے کی ترکیب کے اقدام درج ذیل ہیں۔

۱۲۷۷۵ ا. کسر میں $g(x)$ کو اجزائے ضربی کا حاصل ضرب لکھیں:

$$\frac{f(x)}{g(x)} = \frac{f(x)}{(x-r_1)(x-r_2)\cdots(x-r_n)} \tag{۶}$$

۱۲۷۷۶ ب. مساوات ۶ میں باری باری جزو $(x-r_i)$ کو ڈھانپ کر باقی حصہ میں $x = r_i$ پر کرتے ہوئے مستقل A_i تلاش کریں:

$$\begin{aligned}
A_1 &= \frac{f(r_1)}{(r_1-r_2)\cdots(r_1-r_n)} \\
A_2 &= \frac{f(r_2)}{(r_2-r_1)(r_2-r_3)\cdots(r_2-r_n)} \\
&\vdots \\
A_n &= \frac{f(r_n)}{(r_n-r_1)(r_n-r_2)\cdots(r_n-r_{n-1})}
\end{aligned}$$

۱۲۷۷۷ ج. دیے گئے کسر $\frac{f(x)}{g(x)}$ کو درج ذیل جزوی کسری مجموعہ کی صورت میں لکھیں۔

$$\frac{f(x)}{g(x)} = \frac{A_1}{x-r_1} + \frac{A_2}{x-r_2} + \cdots + \frac{A_n}{x-r_n}$$

۱۲۷۷۸ مثال ۸.۲۲: تکمل $\int \frac{x+4}{x^3+3x^2-10x}\,\mathrm{d}x$ حل کریں۔

۱۲۷۷۹ حل: شمار کنندہ $f(x) = x+4$ کا درجہ نسب نما $g(x) = x^3-3x^2-10x$ کے درجہ سے کم ہے۔ ہم $g(x)$ کو اجزائے
۱۲۷۸۰ ضربی کی صورت میں لکھتے ہیں۔

$$\frac{x+4}{x^3+3x^2-10x} = \frac{x+4}{x(x-2)(x+5)}$$

۱۲۷۸۱ $g(x)$ کے جذر $r_1 = 0$ ، $r_2 = 2$ اور $r_3 = -5$ ہیں۔ ہم نامعلوم مستقل کو ڈھانپنے کی ترکیب سے معلوم کرتے ہیں۔

$$A_1 = \frac{0+4}{\underbrace{\boxed{x}}_{\text{پوشیدہ}}(0-2)(0+5)} = \frac{4}{(-2)(5)} = -\frac{2}{5}$$

$$A_2 = \frac{2+4}{2\underbrace{\boxed{(x-2)}}_{\text{پوشیدہ}}(2+5)} = \frac{6}{(2)(7)} = \frac{3}{7}$$

$$A_3 = \frac{-5+4}{(-5)(-5-2)\underbrace{\boxed{(x+5)}}_{\text{پوشیدہ}}} = \frac{-1}{(-5)(-7)} = -\frac{1}{35}$$

۱۲۷۸۲ یوں

$$\frac{x+4}{x(x-2)(x+5)} = -\frac{2}{5x} + \frac{3}{7(x-2)} - \frac{1}{35(x+5)}$$

۱۲۷۸۳ ہو گا لہٰذا تکمل درج ذیل ہو گا۔

$$\int \frac{x+4}{x(x-2)(x+5)}\,\mathrm{d}x = -\frac{2}{5}\ln|x| + \frac{3}{7}\ln|x-2| - \frac{1}{35}\ln|x+5| + C$$

۱۲۷۸۴ □

۱۲۷۸۵ نامعلوم مستقل تلاش کرنے کے دیگر تراکیب

۱۲۷۸۶ نامعلوم مستقل کو تفرق سے حاصل کیا جا سکتا ہے۔ اس ترکیب کو اگلے مثال میں استعمال کیا گیا ہے۔ اس کے علاوہ مختلف قیمتیں پر کرتے ہوئے بھی ان مستقل کو
۱۲۷۸۷ تلاش کیا جا سکتا ہے۔

۱۲۷۸۸ مثال ۸.۲۳: درج ذیل مساوات میں مستقل A ، B اور C تلاش کریں۔

$$\frac{x-1}{(x+1)^3} = \frac{A}{x+1} + \frac{B}{(x+1)^2} + \frac{C}{(x+1)^3}$$

۱۲۷۸۹ حل: ہم پہلے نسب نما سے چھٹکارا حاصل کرتے ہیں:

$$x - 1 = A(x+1)^2 + B(x+1) + C$$

۱۲۷۹۰ اس میں $x = -1$ پر کرنے سے $C = -2$ حاصل ہوتا ہے۔ اس کے بعد ہم دونوں اطراف کا تفرق لیتے ہیں:

$$1 = 2A(x+1) + B$$

۱۲۷۹۱ اس میں $x = -1$ پر کرنے سے $B = 1$ ملتا ہے۔ مزید ایک مرتبہ تفرق لینے سے $0 = 2A$ یعنی $A = 0$ ملتا ہے۔ یوں درج ذیل ہو گا۔

$$\frac{x-1}{(x+1)^3} = \frac{1}{(x+1)^2} - \frac{2}{(x+1)^3}$$

۱۲۷۹۲ □

۱۲۷۹۳ بعض اوقات x کو چھوٹی قیمتیں، مثلاً $x = 0, \mp 1, \mp 2, \cdots$، مختص کرنے سے A ، B ، C کے مساوات حاصل کر کے، باقی تراکیب سے
۱۲۷۹۴ زیادہ جلدی، مستقل حاصل کئے جا سکتے ہیں۔

۱۲۷۹۵ مثال ۸.۲۴: درج ذیل میں مستقل A ، B اور C تلاش کریں۔

$$\frac{x^2+1}{(x-1)(x-2)(x-3)} = \frac{A}{x-1} + \frac{B}{x-2} + \frac{C}{x-3}$$

۱۲۷۹۶ حل: ہم نسب نما سے چھٹکارا حاصل کرتے ہیں۔

$$x^2 + 1 = A(x-2)(x-3) + B(x-1)(x-3) + C(x-1)(x-2)$$

۱۲۷۹۷ اب باری باری $x = 1, 2, 3$ پر کرتے ہوئے A, B, C تلاش کرتے ہیں۔

$$\begin{aligned}
(1)^1 + 1 &= A(-1)(-2) + B(0) + C(0) && x = 1\\
2 &= 2A\\
A &= 1\\
(2)^2 + 1 &= A(0) + B(1)(-1) + C(0) && x = 2\\
5 &= -B\\
B &= -5\\
(3)^2 + 1 &= A(0) + B(0) + C(2)(1) && x = 3\\
10 &= 2C\\
C &= 5
\end{aligned}$$

۱۲۷۹۸ یوں درج ذیل ہو گا۔

$$\frac{x^2+1}{(x-1)(x-2)(x-3)} = \frac{1}{x-1} - \frac{5}{x-2} + \frac{5}{x-3}$$

۱۲۷۹۹ □

سوالات

جزوی کسری مجموعہ

سوال ۸.۱۴۷ تا سوال ۸.۱۵۴ میں حاصل تقسیم کا جزوی کسری مجموعہ دریافت کریں۔

سوال ۸.۱۴۷: $\frac{5x-13}{(x-3)(x-2)}$

سوال ۸.۱۴۸: $\frac{5x-7}{x^2-3x+2}$

سوال ۸.۱۴۹: $\frac{x+4}{(x+1)^2}$

سوال ۸.۱۵۰: $\frac{2x+2}{x^2-2x+1}$

سوال ۸.۱۵۱: $\frac{z+1}{z^2(z-1)}$

سوال ۸.۱۵۲: $\frac{z}{z^3-z^2-6z}$

سوال ۸.۱۵۳: $\frac{t^2+8}{t^2-5t+6}$

سوال ۸.۱۵۴: $\frac{t^4+9}{t^4+9t^2}$

غیر دہراتے خطی جزو ضربی

سوال ۸.۱۵۵ تا سوال ۸.۱۶۲ میں متکمل کو جزوی کسری مجموعہ کی صورت میں لکھ کر تکمل حل کریں۔

سوال ۸.۱۵۵: $\int \frac{\mathrm{d}x}{1-x^2}$

سوال ۸.۱۵۶: $\int \frac{\mathrm{d}x}{x^2+2x}$

سوال ۸.۱۵۷: $\int \frac{x+4}{x^2+5x-6}\,\mathrm{d}x$

سوال ۸.۱۵۸: $\int \frac{2x+1}{x^2-7x+12}\,\mathrm{d}x$

سوال ۸.۱۵۹: $\int_4^8 \frac{y}{y^2-2y-3}\,\mathrm{d}y$

سوال ۸.۱۶۰: $\int_{1/2}^1 \frac{y+4}{y^2+y}\,\mathrm{d}y$

سوال ۸.۱۶۱: $\int \frac{\mathrm{d}t}{t^3+t^2-2t}$

سوال ۸.۱۶۲: $\int \frac{x+3}{2x^3-8x}\,\mathrm{d}x$

دہراتے خطی جزو ضربی

سوال ۸.۱۶۳ تا سوال ۸.۱۶۶ میں متکمل کو جزوی کسی مجموعہ لکھ کر تکمل حل کریں۔

۱۲۸۲۳ سوال ۸.۱۶۳: $\int_0^1 \frac{x^3\,\mathrm{d}x}{x^2+2x+1}$

۱۲۸۲۴ سوال ۸.۱۶۴: $\int_{-1}^0 \frac{x^3\,\mathrm{d}x}{x^2-2x+1}$

۱۲۸۲۵ سوال ۸.۱۶۵: $\int \frac{\mathrm{d}x}{(x^2-1)^2}$

۱۲۸۲۶ سوال ۸.۱۶۶: $\int \frac{x^2\,\mathrm{d}x}{(x-1)(x^2+2x+1)}$

۱۲۸۲۷ **ناقابل تخفیف دو درجی جزو ضربی**

۱۲۸۲۸ سوال ۸.۱۶۷ تا سوال ۸.۱۷۴ میں متکمل کو جزوی کسری مجموعہ لکھ کر تکمل حل کریں۔

۱۲۸۲۹ سوال ۸.۱۶۷: $\int_0^1 \frac{\mathrm{d}x}{(x+1)(x^2+1)}$

۱۲۸۳۰ سوال ۸.۱۶۸: $\int_1^{\sqrt{3}} \frac{3t^2+t+4}{t^3+t}\,\mathrm{d}t$

۱۲۸۳۱ سوال ۸.۱۶۹: $\int \frac{y^2+2y+1}{(y^2+1)^2}\,\mathrm{d}y$

۱۲۸۳۲ سوال ۸.۱۷۰: $\int \frac{8x^2+8x+2}{(4x^2+1)^2}\,\mathrm{d}x$

۱۲۸۳۳ سوال ۸.۱۷۱: $\int \frac{2s+2}{(s^2+1)(s-1)^3}\,\mathrm{d}s$

۱۲۸۳۴ سوال ۸.۱۷۲: $\int \frac{s^4+81}{s(s^2+9)^2}\,\mathrm{d}s$

۱۲۸۳۵ سوال ۸.۱۷۳: $\int \frac{2\theta^3+5\theta^2+8\theta+4}{(\theta^2+2\theta+2)^2}\,\mathrm{d}\theta$

۱۲۸۳۶ سوال ۸.۱۷۴: $\int \frac{\theta^4-4\theta^3+2\theta^2-3\theta+1}{(\theta^2+1)^3}\,\mathrm{d}\theta$

۱۲۸۳۷ **غیر مناسب کسر**

۱۲۸۳۸ سوال ۸.۱۷۵ تا سوال ۸.۱۸۰ میں قلم و کاغذ سے متکمل کو تقسیم کر کے مناسب کسر کو جزوی کسری مجموعہ لکھ کر تکمل حل کریں۔

۱۲۸۳۹ سوال ۸.۱۷۵: $\int \frac{2x^3-2x^2+1}{x^2-x}\,\mathrm{d}x$

۱۲۸۴۰ سوال ۸.۱۷۶: $\int \frac{x^4}{x^2-1}\,\mathrm{d}x$

۱۲۸۴۱ سوال ۸.۱۷۷: $\int \frac{9x^2-3x+1}{x^3-x^2}\,\mathrm{d}x$

۱۲۸۴۲ سوال ۸.۱۷۸: $\int \frac{16x^3}{4x^2-4x+1}\,\mathrm{d}x$

۱۲۸۴۳ سوال ۸.۱۷۹: $\int \frac{y^4+y^2-1}{y^3+y}\,\mathrm{d}y$

۱۲۸۴۴ سوال ۸.۱۸۰: $\int \frac{2y^4}{y^3-y^2+y-1}\,\mathrm{d}y$

تکمل کا حل

سوال ۸.۱۸۱ تا سوال ۸.۱۸۶ میں دیے گئے تکمل حل کریں۔

سوال ۸.۱۸۱: $\int \frac{e^t\,\mathrm{d}t}{e^{2t}+3e^t+2}$

سوال ۸.۱۸۲: $\int \frac{e^{4t}+2e^{2t}-e^t}{e^{2t}+1}\,\mathrm{d}t$

سوال ۸.۱۸۳: $\int \frac{\cos y\,\mathrm{d}y}{\sin^2 y+\sin y-6}$

سوال ۸.۱۸۴: $\int \frac{\sin\theta\,\mathrm{d}\theta}{\cos^2\theta+\cos\theta-2}$

سوال ۸.۱۸۵: $\int \frac{(x-2)^2\tan^{-1}(2x)-12x^3-3x}{(4x^2+1)(x-2)^2}\,\mathrm{d}x$

سوال ۸.۱۸۶: $\int \frac{(x+1)^2\tan^{-1}(3x)+9x^3+x}{(9x^2+1)(x+1)^2}\,\mathrm{d}x$

ابتدائی قیمت مسئلہ

سوال ۸.۱۸۷ تا سوال ۸.۱۹۰ میں ابتدائی قیمت مسئلہ حل کرتے ہوئے t کے لحاظ سے x تلاش کریں۔

سوال ۸.۱۸۷: $(t^2-3t+2)\frac{\mathrm{d}x}{\mathrm{d}t}=1,\quad (t>2),\quad x(3)=0$

سوال ۸.۱۸۸: $(3t^4+4t^2+1)\frac{\mathrm{d}x}{\mathrm{d}t}=2\sqrt{3},\quad x(1)=-\frac{\pi\sqrt{3}}{4}$

سوال ۸.۱۸۹: $(t^2+2t)\frac{\mathrm{d}x}{\mathrm{d}t}=2x+2,\quad (t,x>0),\quad x(1)=1$

سوال ۸.۱۹۰: $(t+1)\frac{\mathrm{d}x}{\mathrm{d}t}=x^2+1,\quad (t>-1),\quad x(0)=\frac{\pi}{4}$

استعمال اور مثالیں

سوال ۸.۱۹۱ اور سوال ۸.۱۹۱ میں سایہ دار خطے کو دیے گئے محور کے گرد گھما کر جسم طواف پیدا کیا گیا ہے۔

سوال ۸.۱۹۱: سایہ دار خطہ شکل ۸.۵ میں دیا گیا ہے جس کو محور x کے گرد گھمایا جاتا ہے۔

سوال ۸.۱۹۲: سایہ دار خطہ شکل ۸.۶ میں دیا گیا ہے جس کو محور y کے گرد گھمایا جاتا ہے۔

سوال ۸.۱۹۳: ربع اول میں منحنی $y=\tan^{-1}x$، محور x اور لکیر $x=\sqrt{3}$ کے بیچ خطہ کے وسطانی مرکز کا x محدد 2 اعشاریہ درستگی تک تلاش کریں۔

سوال ۸.۱۹۴: سایہ دار خطے (شکل ۸.۷) کے وسطانی مرکز کا 2 اعشاریہ درست x محدد تلاش کریں۔

سوال ۸.۱۹۵: افواہ

کسی بھی بڑی آبادی N میں اگر x افراد نے ایک افواہ سنی ہو تب شرح تبدیلی x اور ان افراد کی تعداد جنہوں نے افواہ نہ سنی ہو کے حاصل ضرب کا راست

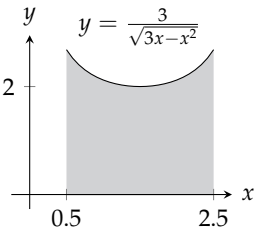

شکل ۸.۵: سایہ دار خطہ برائے سوال ۸.۱۹۱

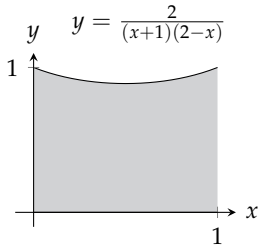

شکل ۸.۶: سایہ دار خطہ برائے سوال ۸.۱۹۲

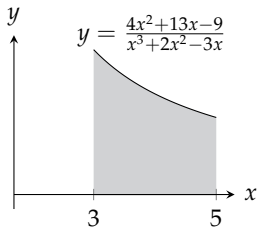

شکل ۸.۷: سایہ دار خطہ برائے سوال ۸.۱۹۴

۱۲۸۶۹ متناسب ہو گا۔

$$\frac{\mathrm{d}x}{\mathrm{d}t} = kx(N-x)$$

۱۲۸۷۰ فرض کریں t دنوں میں ہے، $N = 1000$ اور $k = \frac{1}{250}$ ہے۔ دو افراد ایک افواہ اڑاتے ہیں۔ (ا) متغیر t کے لحاظ سے تفاعل x تلاش کریں۔
۱۲۸۷۱ (ب) کب آدھی آبادی افواہ سن چکی ہو گی؟ (یہ وہ وقت ہو گا جب افواہ زیادہ سے زیادہ تیزی سے پھیلے گی۔)

۱۲۸۷۲ سوال ۸.۱۹۶: دور تبی کیمیائی عمل

۱۲۸۷۳ بہت سارے کیمیائی اعمال میں دو مختلف قسم کے **سالمہ**[۷] ایک تبدیلی سے گزر کر ایک نیا مادہ پیدا کرتے ہیں۔ کیمیائی عمل کی رفتار کا دارومدار ان سالمہ کی ارتکاز پر
۱۲۸۷۴ ہوتا ہے۔ اگر لمحہ $t = 0$ پر مادہ A کا ارتکاز a اور مادہ B کا ارتکاز b ہو اور لمحہ t پر حاصل مادہ کی مقدار x ہو تب تفرقی مساوات

$$\frac{\mathrm{d}x}{\mathrm{d}t} = k(a-x)(b-x) \qquad k \text{ مستقل}$$

۱۲۸۷۵ اس عمل کو ظاہر کرتی ہے جس کو

$$\frac{1}{(a-x)(b-x)}\frac{\mathrm{d}x}{\mathrm{d}t} = k$$

۱۲۸۷۶ لکھا جا سکتا ہے۔ دونوں اطراف کا تکمل لیتے ہوئے $t = 0$ پر $x = 0$، اور (ا) $a = b$، (ب) $a \neq b$ تصور کرتے ہوئے متغیر t کا تفاعل x
۱۲۸۷۷ دریافت کریں۔

۱۲۸۷۸ سوال ۸.۱۹۷: ایک تکمل جو π اور $\frac{22}{7}$ کا تعلق دیتا ہے

۱۲۸۷۹ (ا) تکمل $\int_0^1 \frac{x^4(x-1)^4}{x^2+1}\,\mathrm{d}x$ حل کریں۔ (ب) تخمین $\pi \approx \frac{22}{7}$ کتنا درست ہے؟ $\pi - \frac{22}{7}$ کو π کا فی صد لکھیں۔ (ج) تفاعل $y =$
۱۲۸۸۰ $\frac{x^4(x-1)^4}{x^2+1}$ کو وقفہ $0 \leq x \leq 1$ کے لئے ترسیم کریں۔ محور y پر سعت پہلے 0 تا 1 لیں، بعد میں صفر تا 0.5 اور اس کے بعد مزید کم کریں
۱۲۸۸۱ حتیٰ کہ ترسیم نظر آئے۔ آپ ترسیم کے نیچے رقبہ کے بارے میں کیا کہہ سکتے ہیں؟

---

[۷] molecule

سوال ۸.۱۹۸: ایک ایسی دو درجی کثیر رکنی $P(x)$ جو $P(0) = 1$ اور $P'(0) = 0$ دیتی ہو اور جس کا تکمل

$$\int \frac{P(x)}{x^3(x-1)^2}\,\mathrm{d}x$$

ناطق تفاعل ہو تلاش کریں۔

۸.۴ تکونیاتی بدل

ہم $a^2 + x^2$ ، $a^2 - x^2$ اور $x^2 - a^2$ میں تکونیاتی بدل پر کر کے ایک مربع جزو حاصل کرتے ہیں جو ایسے تکمل، جن میں ان کا جذر پایا جاتا ہو، کو سادہ صورت میں بدل دیتا ہے۔ ان سادہ تکمل کا حل نسبتاً آسان ہوتا ہے۔

تین بنیادی بدل

تین عمومی بدل $x = a\tan\theta$ ، $x = a\sin\theta$ اور $x = a\sec\theta$ ہیں جو شکل ۸.۸ میں قائمہ مثلثوں سے حاصل ہوتے ہیں۔

$x = a\tan\theta$ لیتے ہوئے درج ذیل حاصل ہوتا ہے۔

$$a^2 + x^2 = a^2 + a^2\tan^2\theta = a^2(1+\tan^2\theta) = a^2\sec^2\theta \tag{۱}$$

$x = a\sin\theta$ لیتے ہوئے درج ذیل حاصل ہوتا ہے۔

$$a^2 - x^2 = a^2 - a^2\sin^2\theta = a^2(1-\sin^2\theta) = a^2\cos^2\theta \tag{۲}$$

$x = a\sec\theta$ لیتے ہوئے درج ذیل حاصل ہوتا ہے۔

$$x^2 - a^2 = a^2\sec^2\theta - a^2 = a^2(\sec^2\theta - 1) = a^2\tan^2\theta \tag{۳}$$

تکونیاتی بدل

ا. $x = a\tan\theta$ لے کر $a^2 + x^2$ کی جگہ $a^2\sec^2\theta$ پر کریں۔

ب. $x = a\sin\theta$ لے کر $a^2 - x^2$ کی جگہ $a^2\cos^2\theta$ پر کریں۔

ج. $x = a\sec\theta$ لے کر $x^2 - a^2$ کی جگہ $a^2\tan^2\theta$ پر کریں۔

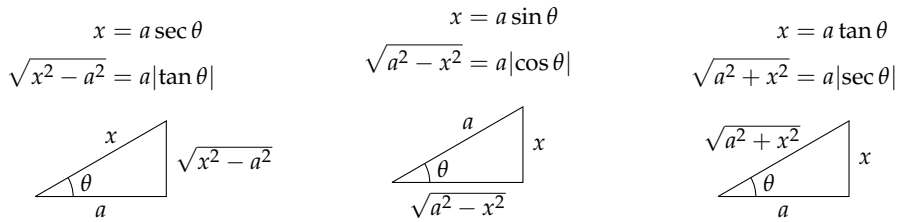

شکل ۸.۸: تکونیاتی بدل کو حوالہ مثلث۔

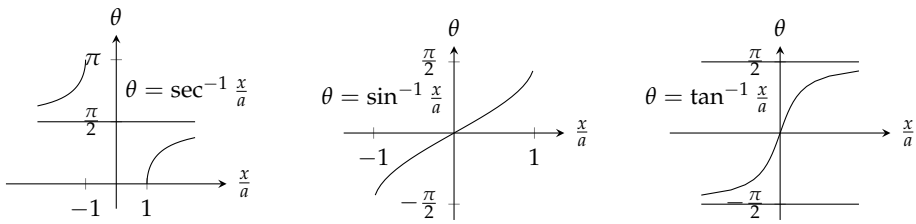

شکل ۸.۹: الٹ تکونیاتی تفاعل کے ترسیمات۔

ہم ایسا بدل استعمال کرنا چاہیں گے جو قابل واپسی ہو تاکہ آخری قدم پر اس کو واپس کرتے ہوئے اصل متغیرات میں نتیجہ لکھ سکیں۔ مثال کے طور پر اگر $x = a\tan\theta$ کی صورت میں ہم چاہیں گے کہ تکمل لینے کے بعد آخری قدم پر $\theta = \tan^{-1}\frac{x}{a}$ لکھنا ممکن ہو۔ اسی طرح $x = a\sin\theta$ کی صورت میں ہم تکمل کے بعد $\theta = \sin^{-1}\frac{x}{a}$ اور $x = a\sec\theta$ کے لئے $\theta = \sec^{-1}\frac{x}{a}$ پر کرنا چاہیں گے۔

جیسا ہم حصہ ۷.۸ سے جانتے ہیں ان تفاعل کے الٹ صرف مخصوص وقفہ پر پائے جاتے ہیں (شکل ۸.۹)۔ الٹ کے لئے درج ذیل ضروری ہے۔

ا. $x = a\tan\theta$ کا الٹ $\theta = \tan^{-1}\frac{x}{a}$ وقفہ $-\frac{\pi}{2} < \theta < \frac{\pi}{2}$ پر ہوگا۔

ب. $x = a\sin\theta$ کا الٹ $\theta = \sin^{-1}\frac{x}{a}$ وقفہ $-\frac{\pi}{2} < \theta < \frac{\pi}{2}$ پر ہوگا۔

ج. $x = a\sec\theta$ کا الٹ $\theta = \sec^{-1}\frac{x}{a}$ وقفہ $0 \le \theta < \frac{\pi}{2}$ پر $\frac{x}{a} \ge 1$ کی صورت میں اور وقفہ $\frac{\pi}{2} < \theta \le \pi$ پر $\frac{x}{a} \le -1$ کی صورت میں ہوگا۔

حساب کتاب آسان بنانے کی خاطر ہم بدل $x = a\sec\theta$ کے استعمال کو ان تکمل تک پابند کرتے ہیں جن میں $\frac{x}{a} \ge 1$ ہو۔ اس طرح θ وقفہ $[0, \frac{\pi}{2})$ میں ہوگا جہاں $\tan\theta \ge 0$ ہوگا۔ یوں $a > 0$ کی صورت میں

$$\sqrt{x^2-a^2} = \sqrt{a^2\tan^2\theta} = |a\tan\theta| = a\tan\theta$$

ہوگا جو مطلق کی علامت سے آزاد ہے۔

مثال ۸.۲۵: تکمل $\int \frac{dx}{\sqrt{4+x^2}}$ حل کریں۔

$\tan\theta = \frac{x}{2}$

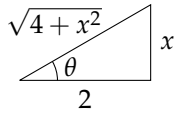

شکل ۸.۱۰: حوالہ مثلث برائے مثال ۸.۲۵

$\tan\sin = \frac{x}{3}$

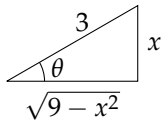

شکل ۸.۱۱: حوالہ مثلث برائے مثال ۸.۲۶

$\sec\theta = \frac{5x}{2}$

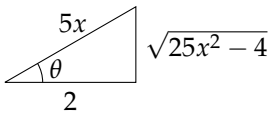

شکل ۸.۱۲: حوالہ مثلث برائے مثال ۸.۲۷

۱۳۹۱۱ حل: ہم درج ذیل لیتے ہیں۔

$$x = 2\tan\theta, \quad dx = 2\sec^2\theta\, d\theta, \quad -\frac{\pi}{2} < \theta < \frac{\pi}{2}$$
$$4 + x^2 = 4 + 4\tan^2\theta = 4(1+\tan^2\theta) = 4\sec^2\theta$$

۱۳۹۱۲ یوں

$$\begin{aligned}
\int \frac{dx}{\sqrt{4+x^2}} &= \int \frac{2\sec^2\theta\, d\theta}{\sqrt{4\sec^2\theta}} = \int \frac{\sec^2\theta\, d\theta}{|\sec\theta|} && \sqrt{\sec^2\theta} = |\sec\theta| \\
&= \int \sec\theta\, d\theta \\
&= \ln|\sec\theta + \tan\theta| + C \\
&= \ln\left|\frac{\sqrt{4+x^2}}{2} + \frac{x}{2}\right| + C && \text{شکل ۸.۱۰} \\
&= \ln\left|\sqrt{4+x^2} + x\right| + C' && C' = C - \ln 2
\end{aligned}$$

۱۳۹۱۳ ہوگا۔ آپ اس پر دوبارہ نظر ڈالیں کہ ہم نے $\ln|\sec\theta + \tan\theta|$ کو x کی صورت میں کس طرح لکھا۔ ہم نے ابتدائی بدل $x = 2\tan\theta$

۱۳۹۱۴ کے لئے حوالہ مثلث (شکل ۸.۱۰) کا خاکہ بنایا اور اسی سے نسبتیں $\tan\theta = \frac{x}{2}$ اور $\sec\theta = \frac{\sqrt{4+x^2}}{2}$ پڑھیں۔ □

۱۳۹۱۵ مثال ۸.۲۶: تکمل $\int \frac{x^2\, dx}{\sqrt{9-x^2}}$ حل کریں۔

۱۳۹۱۶ حل: جزو $9 - x^2$ کی جگہ ایک مربع جزو پر کرنے کی خاطر ہم درج ذیل لیتے ہیں۔

$$x = 3\sin\theta, \quad dx = 3\cos\theta\, d\theta, \quad -\frac{\pi}{2} < \theta < \frac{\pi}{2}$$
$$9 - x^2 = 9(1-\sin^2\theta) = 9\cos^2\theta$$

۱۲۹۱۷ یوں

$$\begin{aligned}
\int \frac{x^2\,\mathrm{d}x}{\sqrt{9-x^2}} &= \int \frac{9\sin^2\theta\cdot 3\cos\theta\,\mathrm{d}\theta}{|3\cos\theta|}\\
&= 9\int \sin^2\theta\,\mathrm{d}\theta\\
&= 9\int \frac{1-\cos 2\theta}{2}\,\mathrm{d}\theta\\
&= \frac{9}{2}\Big(\theta-\frac{\sin 2\theta}{2}\Big)+C\\
&= \frac{9}{2}(\theta-\sin\theta\cos\theta)+C\\
&= \frac{9}{2}\Big(\sin^{-1}\frac{x}{3}-\frac{x}{3}\cdot\frac{\sqrt{9-x^2}}{3}\Big)+C \qquad \text{شکل ۸.۱۱}\\
&= \frac{9}{2}\sin^{-1}\frac{x}{3}-\frac{x}{2}\sqrt{9-x^2}+C
\end{aligned}$$

۱۲۹۱۸ ہوگا۔ ہم نے بدل $\sin\theta=\frac{x}{3}$ کے حوالہ مثلث (شکل ۸.۱۱) سے نسبتیں $\sin\theta=\frac{x}{3}$ اور $\cos\theta=\frac{\sqrt{9-x^2}}{3}$ پڑھیں۔ □

۱۲۹۱۹ مثال ۸.۲۷: تکمل $\int \frac{\mathrm{d}x}{\sqrt{25x^2-4}}$, $x>\frac{2}{5}$ حل کریں۔

۱۲۹۲۰ حل: ہم جذر کو

$$\sqrt{25x^2-4}=\sqrt{25\Big(x^2-\frac{4}{25}\Big)}=5\sqrt{x^2-\Big(\frac{2}{5}\Big)^2}$$

۱۲۹۲۱ صورت میں لکھتے ہیں تاکہ یہ x^2-a^2 روپ میں ہو۔ اس کے بعد درج ذیل بدل استعمال کرتے ہیں۔

$$\begin{aligned}
x &= \frac{2}{5}\sec\theta, \quad \mathrm{d}x=\frac{2}{5}\sec\theta\tan\theta\,\mathrm{d}\theta, \quad 0<\theta<\frac{\pi}{2}\\
x^2-\Big(\frac{2}{5}\Big)^2 &= \frac{4}{25}\sec^2\theta-\frac{4}{25}=\frac{4}{25}(\sec^2\theta-1)=\frac{4}{25}\tan^2\theta\\
\sqrt{x^2-\Big(\frac{2}{5}\Big)^2} &= \frac{2}{5}|\tan\theta|=\frac{2}{5}\tan\theta \qquad \tan\theta>0,\ 0<\theta<\frac{\pi}{2}
\end{aligned}$$

۱۳۹۲۲ یوں

$$\begin{aligned}\int \frac{\mathrm{d}x}{\sqrt{25x^2-4}} &= \int \frac{\mathrm{d}x}{5\sqrt{x^2-(4/25)}} = \int \frac{(2/5)\sec\theta\tan\theta\,\mathrm{d}\theta}{5\cdot(2/5)\tan\theta}\\ &= \frac{1}{5}\int \sec\theta\,\mathrm{d}\theta = \frac{1}{5}\ln|\sec\theta+\tan\theta| + C\\ &= \frac{1}{5}\ln\left|\frac{5x}{2}+\frac{\sqrt{25x^2-4}}{2}\right| + C\end{aligned}$$

۱۳۹۲۳ ہو گا۔ ہم نے بدل $\sec\theta = \frac{5x}{2}$ کے حوالہ مثلث (شکل ۸.۲۷) سے تکونیاتی نسبتیں پڑھیں۔ □

۱۳۹۲۴ بعض اوقات دو درجی جزو کے طاقت کا تکمل تکونیاتی بدل سے ممکن ہوتا ہے۔ آئیں اگلی مثال میں اس عمل کو دیکھیں۔

۱۳۹۲۵ مثال ۸.۲۸: منحنی $y = \frac{4}{x^2+4}$، محور x، لکیر $x = 0$ اور $x = 2$ کے بیچ خطہ کو محور x کے گرد گھما کر جسم طواف پیدا کیا جاتا ہے (شکل
۱۳۹۲۶ ۸.۱۳)۔ اس جسم کا حجم تلاش کریں۔

۱۳۹۲۷ حل: ہم اس خطہ کو ترسیم کر کے ترکیب قرص (حصہ ۶.۳) سے حجم تلاش کرتے ہیں۔

$$H = \int_0^2 \pi[R(x)]^2\,\mathrm{d}x = 16\pi\int_0^2 \frac{\mathrm{d}x}{(x^2+4)^2} \qquad R(x) = \frac{4}{x^2+4}$$

۱۳۹۲۸ اس تکمل کو حل کرنے کی خاطر ہم درج ذیل لیتے ہیں۔

$$\begin{gathered}x = 2\tan\theta,\quad \mathrm{d}x = 2\sec^2\theta\,\mathrm{d}\theta,\quad \theta = \tan^{-1}\frac{x}{2}\\ x^2+4 = 4\tan^2\theta+4,\quad 4(\tan^2\theta+1) = 4\sec^2\theta\end{gathered}$$

۱۳۹۲۹ یوں درج ذیل حاصل ہو گا۔

$$\begin{aligned}H &= 16\pi\int_0^2 \frac{\mathrm{d}x}{(x^2+4)^2}\\ &= 16\pi\int_0^{\pi/4} \frac{2\sec^2\theta\,\mathrm{d}\theta}{(4\sec^2\theta)^2}\\ &= 16\pi\int_0^{\pi/4} \frac{2\sec^2\theta\,\mathrm{d}\theta}{16\sec^4\theta} = \pi\int_0^{\pi/4} 2\cos^2\theta\,\mathrm{d}\theta\\ &= \pi\int_0^{\pi/4}(1+\cos 2\theta)\,\mathrm{d}\theta = \pi\left[\theta+\frac{\sin 2\theta}{2}\right]_0^{\pi/4}\\ &= \pi\left[\frac{\pi}{4}+\frac{1}{2}\right] \approx 4.04\end{aligned}$$

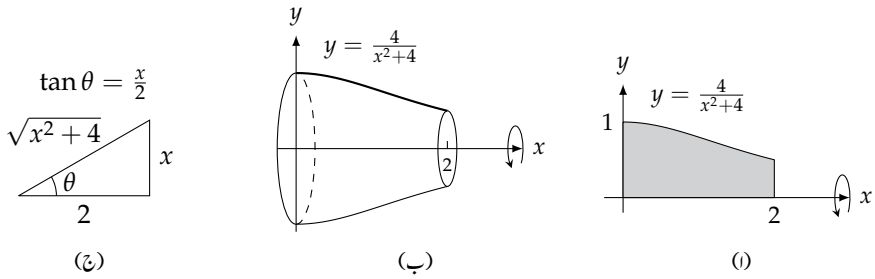

(ا) (ب) (ج)

شکل ۸.۱۳: خطہ، جسم طواف اور حوالہ مثلث برائے مثال ۸.۲۸

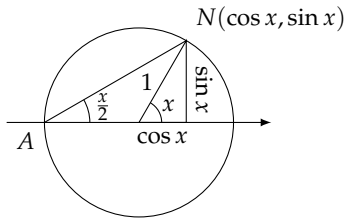

شکل ۸.۱۴: ہم شکل سے $\tan\frac{x}{2} = \frac{\sin x}{1+\cos x}$ پڑھ سکتے ہیں۔

۱۲۹۳۰ □

۱۲۹۳۱ **بدل** $z = \tan(\frac{x}{2})$

۱۲۹۳۲ $\sin x$ اور $\cos x$ کے ناطق تفاعل کے تکمل کو درج ذیل بدل

$$z = \tan\frac{x}{2} \tag{۴}$$

۱۲۹۳۳ متغیر z کے ناطق تفاعل کے تکمل میں بدلتا ہے جس کو جزوی کسری مجموعہ لکھ کر حل کیا جا سکتا ہے۔ یوں مساوات ۴ کا بدل انتہائی طاقتور ثابت ہوتا ہے اگرچہ اس

۱۲۹۳۴ کا استعمال زیادہ آسان نہیں ہے اور صرف وہاں استعمال کیا جاتا ہے جب باقی تراکیب مددگار ثابت نہ ہوں۔

۱۲۹۳۵ $\sin x$ اور $\cos x$ کے ناطق تفاعل کو $\tan\frac{x}{2}$ کی صورت میں لکھنا شکل ۸.۱۴ میں دکھایا گیا ہے۔ درج ذیل کی مدد سے ہم بدل کے اثر کو دیکھتے ہیں۔

$$\begin{aligned}
\cos x &= 2\cos^2\frac{x}{2} - 1 = \frac{2}{\sec^2\frac{x}{2}} - 1 \\
&= \frac{2}{1+\tan^2\frac{x}{2}} - 1 = \frac{2}{1+z^2} - 1 \\
\cos x &= \frac{1-z^2}{1+z^2}
\end{aligned} \tag{۵}$$

۱۲۹۳۶ اور

$$\begin{aligned}\sin x &= 2\sin\frac{x}{2}\cos\frac{x}{2} = 2\frac{\sin\frac{x}{2}}{\cos\frac{x}{2}}\cdot\cos^2\frac{x}{2}\\ &= 2\tan\frac{x}{2}\cdot\frac{1}{\sec^2\frac{x}{2}} = \frac{2\tan\frac{x}{2}}{1+\tan^2\frac{x}{2}} \qquad (۶)\\ \sin x &= \frac{2z}{1+z^2}\end{aligned}$$

۱۲۹۳۷ اور

$$\mathrm{d}x = \frac{2\,\mathrm{d}z}{1+z^2} \qquad (۷)$$

۱۲۹۳۸ مثال ۸.۲۹:

$$\begin{aligned}(\text{الف})\quad \int\frac{\mathrm{d}x}{1+\cos x} &= \int\frac{1+z^2}{2}\frac{2\,\mathrm{d}z}{1+z^2}\\ &= \int\mathrm{d}z = z+C\\ &= \tan\frac{x}{2}+C\\ (\text{ب})\quad \int\frac{\mathrm{d}x}{2+\sin x} &= \int\frac{1+z^2}{2+2z+2z^2}\frac{2\,\mathrm{d}z}{1+z^2}\\ &= \int\frac{\mathrm{d}z}{z^2+z+1} = \int\frac{\mathrm{d}z}{(z+1/2)^2+3/4}\\ &= \int\frac{\mathrm{d}u}{u^2+a^2}\\ &= \frac{1}{a}\tan^{-1}\frac{u}{a}+C\\ &= \frac{2}{\sqrt{3}}\tan^{-1}\frac{2z+1}{\sqrt{3}}+C\\ &= \frac{2}{\sqrt{3}}\tan^{-1}\frac{1+2\tan(x/2)}{\sqrt{3}}+C\end{aligned}$$

۱۲۹۳۹ □

۱۲۹۴۰ **سوالات**

۱۲۹۴۱ **بنیادی تکونیاتی بدل**

۱۲۹۴۲ سوال ۸.۱۹۹ تا سوال ۸.۲۲۶ میں تکمل حل کریں۔

۱۲۹۴۳ سوال ۸.۱۹۹: $\int \frac{\mathrm{d}y}{\sqrt{9+y^2}}$

۱۲۹۴۴ سوال ۸.۲۰۰: $\int \frac{3\,\mathrm{d}y}{\sqrt{1+9y^2}}$

۱۲۹۴۵ سوال ۸.۲۰۱: $\int_{-2}^{2} \frac{\mathrm{d}x}{4+x^2}$

۱۲۹۴۶ سوال ۸.۲۰۲: $\int_{0}^{2} \frac{\mathrm{d}x}{8+2x^2}$

۱۲۹۴۷ سوال ۸.۲۰۳: $\int_{0}^{3/2} \frac{\mathrm{d}x}{\sqrt{9-x^2}}$

۱۲۹۴۸ سوال ۸.۲۰۴: $\int_{0}^{1/2\sqrt{2}} \frac{2\,\mathrm{d}x}{\sqrt{1-4x^2}}$

۱۲۹۴۹ سوال ۸.۲۰۵: $\int \sqrt{25-t^2}\,\mathrm{d}t$

۱۲۹۵۰ سوال ۸.۲۰۶: $\int \sqrt{1-9t^2}\,\mathrm{d}t$

۱۲۹۵۱ سوال ۸.۲۰۷: $\int \frac{\mathrm{d}x}{\sqrt{4x^2-49}}, \quad x > \frac{7}{2}$

۱۲۹۵۲ سوال ۸.۲۰۸: $\int \frac{5\,\mathrm{d}x}{\sqrt{25x^2-9}}, \quad x > \frac{3}{5}$

۱۲۹۵۳ سوال ۸.۲۰۹: $\int \frac{\sqrt{y^2-49}}{y}\,\mathrm{d}y, \quad y > 7$

۱۲۹۵۴ سوال ۸.۲۱۰: $\int \frac{\sqrt{y^2-25}}{y^3}\,\mathrm{d}y, \quad y > 5$

۱۲۹۵۵ سوال ۸.۲۱۱: $\int \frac{\mathrm{d}x}{x^2\sqrt{x^2-1}}, \quad x > 1$

۱۲۹۵۶ سوال ۸.۲۱۲: $\int \frac{2\,\mathrm{d}x}{x^3\sqrt{x^2-1}}, \quad x > 1$

۱۲۹۵۷ سوال ۸.۲۱۳: $\int \frac{x^3\,\mathrm{d}x}{\sqrt{x^2+4}}$

۱۲۹۵۸ سوال ۸.۲۱۴: $\int \frac{\mathrm{d}x}{x^2\sqrt{x^2+1}}$

۱۲۹۵۹ سوال ۸.۲۱۵: $\int \frac{8\,\mathrm{d}w}{w^2\sqrt{4-w^2}}$

۱۲۹۶۰ سوال ۸.۲۱۶: $\int \frac{\sqrt{9-w^2}}{w^2}\,\mathrm{d}w$

۱۲۹۶۱ سوال ۸.۲۱۷: $\int_{0}^{\sqrt{3}/2} \frac{4x^2\,\mathrm{d}x}{(1-x^2)^{3/2}}$

۱۲۹۶۲ سوال ۸.۲۱۸: $\int_{0}^{1} \frac{\mathrm{d}x}{(4-x^2)^{3/2}}$

۱۲۹۶۳ سوال ۸.۲۱۹: $\int \frac{\mathrm{d}x}{(x^2-1)^{3/2}}, \quad x > 1$

۱۲۹۶۴ سوال ۸.۲۲۰: $\int \frac{x^2\,\mathrm{d}x}{(x^2-1)^{5/2}}, \quad x > 1$

۱۲۹۶۵ سوال ۸.۲۲۱: $\int \frac{(1-x^2)^{3/2}}{x^6}\,\mathrm{d}x$

۱۲۹۶۶ سوال ۸.۲۲۲: $\int \frac{(1-x^2)^{1/2}}{x^4}\,\mathrm{d}x$

۱۲۹۶۷ سوال ۸.۲۲۳: $\int \frac{8\,\mathrm{d}x}{(4x^2+1)^2}$

۱۲۹۶۸ سوال ۸.۲۲۴: $\int \frac{6\,\mathrm{d}t}{(9t^2+1)^2}$

۱۲۹۶۹ سوال ۸.۲۲۵: $\int \frac{v^2\,\mathrm{d}v}{(1-v^2)^{5/2}}$

۱۲۹۷۰ سوال ۸.۲۲۶: $\int \frac{(1-r^2)^{5/2}}{r^8}\,\mathrm{d}r$

۱۲۹۷۱ موزوں بدل کے بعد تکونیاتی بدل استعمال کرتے ہوئے سوال ۸.۲۲۷ تا سوال ۸.۲۳۴ میں تکمل حل کریں۔

۱۲۹۷۲ سوال ۸.۲۲۷: $\int_0^{\ln 4} \frac{e^t\,\mathrm{d}t}{\sqrt{e^{2t}+9}}$

۱۲۹۷۳ سوال ۸.۲۲۸: $\int_{\ln(3/4)}^{\ln(4/3)} \frac{e^t\,\mathrm{d}t}{(1+e^{2t})^{3/2}}$

۱۲۹۷۴ سوال ۸.۲۲۹: $\int_{1/12}^{1/4} \frac{2\,\mathrm{d}t}{\sqrt{t+4t\sqrt{t}}}$

۱۲۹۷۵ سوال ۸.۲۳۰: $\int_1^e \frac{\mathrm{d}y}{y\sqrt{1+(\ln y)^2}}$

۱۲۹۷۶ سوال ۸.۲۳۱: $\int \frac{\mathrm{d}x}{x\sqrt{x^2-1}}$

۱۲۹۷۷ سوال ۸.۲۳۲: $\int \frac{\mathrm{d}x}{1+x^2}$

۱۲۹۷۸ سوال ۸.۲۳۳: $\int \frac{x\,\mathrm{d}x}{\sqrt{x^2-1}}$

۱۲۹۷۹ سوال ۸.۲۳۴: $\int \frac{\mathrm{d}x}{\sqrt{1-x^2}}$

۱۲۹۸۰ ابتدائی قیمت مسائل

۱۲۹۸۱ سوال ۸.۲۳۵ تا سوال ۸.۲۳۸ کے ابتدائی قیمت مسائل حل کرتے ہوئے y حاصل کریں۔

۱۲۹۸۲ سوال ۸.۲۳۵: $x\frac{\mathrm{d}y}{\mathrm{d}x} = \sqrt{x^2-4}, \quad x \geq 2, \quad y(2) = 0$

۱۲۹۸۳ سوال ۸.۲۳۶: $\sqrt{x^2-9}\frac{\mathrm{d}y}{\mathrm{d}x} = 1, \quad x > 3, \quad y(5) = \ln 3$

۱۲۹۸۴ سوال ۸.۲۳۷: $(x^2+4)\frac{\mathrm{d}y}{\mathrm{d}x} = 3, \quad y(2) = 0$

۱۲۹۸۵ سوال ۸.۲۳۸: $(x^2+1)^2\frac{\mathrm{d}y}{\mathrm{d}x} = \sqrt{x^2+1}, \quad y(0) = 1$

استعمال

سوال ۸.۲۳۹: ربع اول میں محددی محور اور منحنی $y = \frac{\sqrt{9-x^2}}{3}$ کے بیچ رقبہ تلاش کریں۔

سوال ۸.۲۴۰: ربع اول میں محددی محور، لکیر $x = 1$ اور منحنی $y = \frac{2}{1+x^2}$ کے بیچ خطہ کو محور x کے گرد گھما کر جسم طواف پیدا کیا جاتا ہے۔ اس جسم کا حجم تلاش کریں۔

بدل $z = \tan(x/2)$

سوال ۸.۲۴۱ تا سوال ۸.۲۴۸ کو مساوات ۵ تا مساوات ۷ کی مدد سے حل کریں۔

سوال ۸.۲۴۱: $\int \frac{\mathrm{d}x}{1-\sin x}$

سوال ۸.۲۴۲: $\int \frac{\mathrm{d}x}{1+\sin x+\cos x}$

سوال ۸.۲۴۳: $\int_0^{\pi/2} \frac{\mathrm{d}x}{1+\sin x}$

سوال ۸.۲۴۴: $\int_{\pi/3}^{\pi/2} \frac{\mathrm{d}x}{1-\cos x}$

سوال ۸.۲۴۵: $\int_0^{\pi/2} \frac{\mathrm{d}\theta}{2+\cos\theta}$

سوال ۸.۲۴۶: $\int_{\pi/2}^{2\pi/3} \frac{\cos\theta\,\mathrm{d}\theta}{\sin\theta\cos\theta+\sin\theta}$

سوال ۸.۲۴۷: $\int \frac{\mathrm{d}t}{\sin t-\cos t}$

سوال ۸.۲۴۸: $\int \frac{\cos t\,\mathrm{d}t}{1-\cos t}$

درج ذیل دو سوالات میں $z = \tan(\theta/2)$ پر کر کے حل کریں۔

سوال ۸.۲۴۹: $\int \sec\theta\,\mathrm{d}\theta$

سوال ۸.۲۵۰: $\int \csc\theta\,\mathrm{d}\theta$

۸.۵ جدول تکمل اور کمپیوٹر

جیسا آپ جانتے ہیں تکمل کے بنیادی طریقے بدل اور تکمل بالحصص ہیں۔ ان طریقوں سے ہم انجانے تکمل کو جانے پہچانے تکمل میں بدلتے ہیں جس کو ہم حل کرنا جانتے ہیں یا جس کو جدول سے دیکھا جا سکتا ہے۔ ان جدول میں تکمل کہاں سے آتے ہیں؟ جدول میں تکمل بھی بدل یا تکمل بالحصص سے حاصل کیے گئے ہوتے ہیں۔ ہم ان تمام کو خود حاصل کر سکتے ہیں لیکن جدول ہمیں بار بار ایک ہی طرز کے تکمل حاصل کرنے سے چھٹکارا دیتا ہے۔ جب کوئی تکمل جدول میں پایا جاتا ہو یا الجبرا، تکونیات، بدل اور احصاء کے استعمال سے اس کو جدول میں درج کسی تکمل کی صورت میں لانا ممکن ہو، تب ہم تکمل کا حل جدول سے پڑھ سکتے ہیں۔ اس حصہ کی مثالوں اور سوالات میں کتاب کی آخر میں صفحہ ۷۱۷ پر تکملات کی جدول میں درج کلیات کو اخذ کرنا اور ان کا استعمال سکھایا جائے گا۔ یہاں استعمال پر زور دیا جائے گا۔ کتاب کے آخر میں کلیات کو مستقل a, b, c, m, n وغیرہ کی صورت میں لکھا گیا ہے۔ یہ مستقل عموماً حقیقی اعداد ہوں گے جو غیر عدد

صحیح ہو سکتے ہیں۔ جہاں ان مستقل پر شرائط مسلط ہو، وہاں اس کا ذکر کیا گیا ہے۔ مثال کے طور پر کلیہ ۵ میں $n \neq -1$ ہونا ضروری ہے جبکہ کلیہ ۱۱ میں $n \neq -2$ ہونا ضروری ہے۔

ان کلیات میں مستقل وہ قیمت اختیار نہیں کر سکتے ہیں جن کی وجہ سے صفر سے تقسیم کرنا پڑے یا منفی اعداد کا جفت جذر لینا پڑے۔ مثال کے طور پر کلیہ ۸ میں $a \neq 0$ ہو گا جبکہ کلیہ ۱۳-الف صرف اس صورت قابل استعمال ہو گا جب b منفی ہو۔

بہت سارے غیر قطعی تکمل کو کمپیوٹر کی مدد سے بھی حل کیا جا سکتا ہے جہاں تکمل کو کسی خاص صورت میں لکھنے کی ضرورت پیش نہیں آتی ہے۔ کمپیوٹر الجبرا پر اس حصہ کے آخر میں غور کیا جائے گا۔

جدول کی مدد سے تکمل

مثال ۸.۳۰: تکمل $\int x(2x+5)^{-1}\,\mathrm{d}x$ حل کریں۔

حل: ہم کلیہ ۸ استعمال کرتے ہیں (نا کہ کلیہ ۷ جہاں $n \neq -1$ ہونا ضروری ہے۔)

$$\int x(ax+b)^{-1}\,\mathrm{d}x = \frac{x}{a} - \frac{b}{a^2}\ln|ax+b| + C$$

یوں $a = 2$ اور $b = 5$ کی صورت میں درج ذیل ہو گا۔

$$\int x(2x+5)^{-1}\,\mathrm{d}x = \frac{x}{2} - \frac{5}{4}\ln|2x+5| + C$$

□

مثال ۸.۳۱: تکمل $\int \frac{\mathrm{d}x}{x\sqrt{2x+4}}$ حل کریں۔

حل: ہم کلیہ ۱۳-ب استعمال کرتے ہیں۔

$$\int \frac{\mathrm{d}x}{x\sqrt{ax+b}} = \frac{1}{\sqrt{b}}\ln\left|\frac{\sqrt{ax+b}-\sqrt{b}}{\sqrt{ax+b}+\sqrt{b}}\right| + C \qquad \text{اگر } b > 0 \text{ ہو}$$

یوں $a = 2$ اور $b = 4$ کی صورت میں درج ذیل ہو گا۔

$$\begin{aligned}\int \frac{\mathrm{d}x}{x\sqrt{2x+4}} &= \frac{1}{\sqrt{4}}\ln\left|\frac{\sqrt{2x+4}-\sqrt{4}}{\sqrt{2x+4}+\sqrt{4}}\right| + C\\ &= \frac{1}{2}\ln\left|\frac{\sqrt{2x+4}-2}{\sqrt{2x+4}+2}\right| + C\end{aligned}$$

کلیہ ۱۳-الف یہاں قابل استعمال نہیں ہو گا چونکہ اس میں $b < 0$ ضروری ہے، البتہ اگلی مثال میں یہ کارآمد ہو گا۔ □

۱۳۰۲۷ مثال ۸.۳۲: تکمل $\int \frac{\mathrm{d}x}{x\sqrt{2x-4}}$ حل کریں۔

۱۳۰۲۸ حل: ہم کلیہ ۱۳-الف استعمال کرتے ہیں۔

$$\int \frac{\mathrm{d}x}{x\sqrt{ax-b}} = \frac{2}{\sqrt{b}} \tan^{-1} \sqrt{\frac{ax-b}{b}} + C$$

۱۳۰۲۹ یوں $a = 2$ اور $b = 4$ لیتے ہوئے درج ذیل ہو گا۔

$$\int \frac{\mathrm{d}x}{x\sqrt{2x-4}} = \frac{2}{\sqrt{4}} \tan^{-1} \sqrt{\frac{2x-4}{4}} + C = \tan^{-1} \sqrt{\frac{x-2}{2}} + C$$

۱۳۰۳۰ □

۱۳۰۳۱ مثال ۸.۳۳: تکمل $\int \frac{\mathrm{d}x}{x^2\sqrt{2x-4}}$ حل کریں۔

۱۳۰۳۲ حل: ہم کلیہ ۱۵ سے شروع کرتے ہیں۔

$$\int \frac{\mathrm{d}x}{x^2\sqrt{ax+b}} = -\frac{\sqrt{ax+b}}{bx} - \frac{a}{2b} \int \frac{\mathrm{d}x}{x\sqrt{ax+b}} + C$$

۱۳۰۳۳ یوں $a = 2$ اور $b = -4$ لیتے ہوئے

$$\int \frac{\mathrm{d}x}{x^2\sqrt{2x-4}} = -\frac{\sqrt{2x-4}}{-4x} + \frac{2}{2\cdot 4} \int \frac{\mathrm{d}x}{x\sqrt{2x-4}} + C$$

۱۳۰۳۴ ملتا ہے۔ اب ہم کلیہ ۱۳-الف استعمال کرتے ہوئے دائیں ہاتھ تکمل حل کرتے ہیں (مثال ۸.۳۲ سے رجوع کریں):

$$\int \frac{\mathrm{d}x}{x^2\sqrt{2x-4}} = \frac{\sqrt{2x-4}}{4x} + \frac{1}{4} \tan^{-1} \sqrt{\frac{x-2}{2}} + C$$

۱۳۰۳۵ □

۱۳۰۳۶ مثال ۸.۳۴: تکمل $\int x \sin^{-1} x \,\mathrm{d}x$ حل کریں۔

۱۳۰۳۷ حل: ہم کلیہ ۱۹۹ استعمال کرتے ہیں۔

$$\int x^n \sin^{-1} ax \,\mathrm{d}x = \frac{x^{n+1}}{n+1} \sin^{-1} ax - \frac{a}{n+1} \int \frac{x^{n+1}\,\mathrm{d}x}{\sqrt{1-a^2x^2}}, \quad n \neq -1$$

۱۳۰۳۸ یوں $n = 1$ اور $a = 1$ لے کر

$$\int x \sin^{-1} x \,\mathrm{d}x = \frac{x^2}{2} \sin^{-1} x - \frac{1}{2} \int \frac{x^2\,\mathrm{d}x}{\sqrt{1-x^2}}$$

۱۳۰۳۹ ہو گا۔ دائیں ہاتھ تکمل جدول میں کلیہ ۳۳ ہے:

$$\int \frac{x^2}{\sqrt{a^2-x^2}}\,\mathrm{d}x = \frac{a^2}{2}\sin^{-1}\frac{x}{a} - \frac{1}{2}x\sqrt{a^2-x^2} + C$$

۱۳۰۴۰ اب $a = 1$ کے لئے درج ذیل ہو گا۔

$$\int \frac{x^2}{\sqrt{1-x^2}}\,\mathrm{d}x = \frac{1}{2}\sin^{-1}x - \frac{1}{2}x\sqrt{1-x^2} + C$$

۱۳۰۴۱ یوں مجموعی حل درج ذیل ہو گا۔

$$\begin{aligned}\int x\sin^{-1}x\,\mathrm{d}x &= \frac{x^2}{2}\sin^{-1}x - \frac{1}{2}\left(\frac{1}{2}\sin^{-1}x - \frac{1}{2}x\sqrt{1-x^2}\right) + C'\\ &= \left(\frac{x^2}{2} - \frac{1}{4}\right)\sin^{-1}x + \frac{1}{4}x\sqrt{1-x^2} + C'\end{aligned}$$

۱۳۰۴۲ □

۱۳۰۴۳ کلیات تخفیف

۱۳۰۴۴ دہراتے ہوئے تکمل بالحصص میں درج ذیل صورت کے کلیات مددگار ثابت ہوتے ہیں جنہیں **کلیات تخفیف**[۸] کہتے ہیں۔

$$\int \tan^n x\,\mathrm{d}x = \frac{1}{n-1}\tan^{n-1}x - \int \tan^{n-2}x\,\mathrm{d}x \tag{۱}$$

$$\int (\ln x)^n\,\mathrm{d}x = x(\ln x)^n - n\int (\ln x)^{n-1} \tag{۲}$$

$$\begin{aligned}\int \sin^n x\cos^m x\,\mathrm{d}x &= -\frac{\sin^{n-1}x\cos^{m+1}x}{m+n}\,\mathrm{d}x\\ &\quad + \frac{n-1}{m+n}\int \sin^{n-2}x\cos^m x\,\mathrm{d}x, \quad (n \neq -m)\end{aligned} \tag{۳}$$

۱۳۰۴۵ کلیات تخفیف کسی تفاعل کے طاقت کے تکمل کو اسی طرز کے تکمل جس میں تفاعل کی طاقت کم ہو سے تبدیل کرتا ہے۔ طاقت کی تخفیف کی وجہ سے انہیں کلیات
۱۳۰۴۶ تخفیف کہتے ہیں۔ کلیات تخفیف بار بار استعمال کرتے ہوئے آخر کار تکمل میں تفاعل کی طاقت اتنی کم ہو جاتی ہے کہ تکمل باآسانی حل ہوتا ہے۔

۱۳۰۴۷ مثال ۸.۳۵: تکمل $\int \tan^5 x\,\mathrm{d}x$ حل کریں۔

۱۳۰۴۸ حل: ہم $n = 5$ لیتے ہوئے مساوات ۱ استعمال کرتے ہیں۔

$$\int \tan^5 x\,\mathrm{d}x = \frac{1}{4}\tan^4 x - \int \tan^3 x\,\mathrm{d}x$$

---

[۸] reductionformulae

۱۳۰۴۹ ہم $n = 3$ لیتے ہوئے مساوات ادو بارہ استعمال کرتے ہیں۔

$$\int \tan^3 x \, \mathrm{d}x = \frac{1}{2}\tan^2 x - \int \tan x \, \mathrm{d}x = \frac{1}{2}\tan^2 x + \ln|\cos x| + C$$

۱۳۰۵۰ یوں مکمل نتیجہ درج ذیل ہو گا۔

$$\int^5 x \, \mathrm{d}x = \frac{1}{4}\tan^4 x - \frac{1}{2}\tan^2 x - \ln|\cos x| + C$$

۱۳۰۵۱ □

۱۳۰۵۲ کلیات تخفیف کو تکمل بالحصص سے حاصل کیا جاتا ہے۔

۱۳۰۵۳ مثال ۸.۳۶: کلیات تخفیف کا حصول

۱۳۰۵۴ کسی بھی مثبت عدد صحیح n کے لئے درج ذیل کی تصدیق کریں۔

$$\int (\ln x)^n \, \mathrm{d}x = x(\ln x)^n - n\int (\ln x)^{n-1} \, \mathrm{d}x$$

۱۳۰۵۵ حل: ہم تکمل بالحصص کے کلیہ

$$\int u \, \mathrm{d}v = uv - \int v \, \mathrm{d}u$$

۱۳۰۵۶ میں

$$u = (\ln x)^n, \quad \mathrm{d}u = n(\ln x)^{n-1}\frac{\mathrm{d}x}{x}, \quad \mathrm{d}v = \mathrm{d}x, \quad v = x$$

۱۳۰۵۷ لے کر درج ذیل حاصل کرتے ہیں۔

$$\int (\ln x)^n \, \mathrm{d}x = x(\ln x)^n - n\int (\ln x)^{n-1} \, \mathrm{d}x$$

۱۳۰۵۸ □

۱۳۰۵۹ بعض اوقات دو کلیات تخفیف کا استعمال ضروری ہو گا۔

۱۳۰۶۰ مثال ۸.۳۷: تکمل $\int \sin^2 x \cos^3 x \, \mathrm{d}x$ حل کریں۔

۱۳۰۶۱ حل الف: ہم مساوات ۳ میں $n = 2$ اور $m = 3$ لے کر درج ذیل حاصل کرتے ہیں۔

$$\begin{aligned}\int \sin^2 x \cos^3 x \, \mathrm{d}x &= -\frac{\sin x \cos^4 x}{2+3} + \frac{1}{2+3}\int \sin^0 x \cos^3 x \, \mathrm{d}x \\ &= -\frac{\sin x \cos^4 x}{5} + \frac{1}{5}\int \cos^3 x \, \mathrm{d}x\end{aligned}$$

۱۳۰۶۲ ہم باقی تکمل کو کلیہ ۶۱ سے حل کر سکتے ہیں۔

$$\int \cos^n ax \, \mathrm{d}x = \frac{\cos^{n-1} ax \sin ax}{na} + \frac{n-1}{n} \int \cos^{n-2} ax \, \mathrm{d}x$$

۱۳۰۶۳ یوں $n = 3$ اور $a = 1$ لیتے ہوئے

$$\begin{aligned}\int \cos^3 x \, \mathrm{d}x &= \frac{\cos^2 x \sin x}{3} + \frac{2}{3} \int \cos x \, \mathrm{d}x \\ &= \frac{\cos^2 x \sin x}{3} + \frac{2}{3} \sin x + C\end{aligned}$$

۱۳۰۶۴ حاصل ہو گا۔ مجموعی نتیجہ درج ذیل ہو گا۔

$$\begin{aligned}\int \sin^2 x \cos^3 x \, \mathrm{d}x &= -\frac{\sin x \cos^4 x}{5} + \frac{1}{5}\left(\frac{\cos^2 x \sin x}{3} + \frac{2}{3} \sin x + C\right) \\ &= -\frac{\sin x \cos^4 x}{5} + \frac{\cos^2 x \sin x}{15} + \frac{2}{15} \sin x + C'\end{aligned}$$

۱۳۰۶۵ حل ب: مساوات ۳ جدول میں کلیہ ۶۸ ہے، مگر ہم کلیات تکمل کے جدول کا کلیہ ۶۹ بھی استعمال کر سکتے ہیں جس میں $a = 1$ لیتے ہوئے

$$\int \sin^n x \cos^m x \, \mathrm{d}x = \frac{\sin^{n+1} x \cos^{m-1} x}{m+n} + \frac{m-1}{m+n} \int \sin^n x \cos^{m-2} x \, \mathrm{d}x$$

۱۳۰۶۶ لکھا جائے گا۔ اب $n = 2$ اور $m = 3$ لیتے ہوئے درج ذیل ملتا ہے۔

$$\begin{aligned}\int \sin^2 x \cos^3 x \, \mathrm{d}x &= \frac{\sin^3 x \cos^2 x}{5} + \frac{2}{5} \int \sin^2 x \cos x \, \mathrm{d}x \\ &= \frac{\sin^3 x \cos^2 x}{5} + \frac{2}{5}\left(\frac{\sin^3 x}{3}\right) + C \\ &= \frac{\sin^3 x \cos^2 x}{5} + \frac{2}{15} \sin^3 x + C\end{aligned}$$

۱۳۰۶۷ آپ نے دیکھا کہ کلیہ ۶۹ زیادہ جلدی نتیجہ فراہم کرتا ہے۔ عموماً قبل از وقت یہ جاننا ممکن نہیں ہوتا ہے کہ کونسا کلیہ زیادہ جلدی نتیجہ دیگا گا۔ اس پر وقت ضائع نہ
۱۳۰۶۸ کریں۔ جو بھی کلیہ قابل استعمال نظر آئے، اس کو فوراً استعمال کریں۔

۱۳۰۶۹ آپ نے یہ بھی دیکھا ہو گا کہ کلیہ ۶۸ اور کلیہ ۶۹ کے نتائج مختلف نظر آتے ہیں۔ تکونیاتی تکمل میں عموماً ایسا ہی ہو گا۔ آپ فکر نہ کریں چونکہ ایسے نتائج در حقیقت
۱۳۰۷۰ بالکل ایک دوسرے جیسے ہوں گے۔ □

۸.۳۰ غیر بنیادی تکمل

۸.۳۰۱ وہ الٹ تفرق جنہیں بنیادی تفاعل (وہ تفاعل جن پر اب تک غور کیا گیا) کی صورت میں لکھنا ممکن نہ ہو **غیر بنیادی**[9] تکمل کہلاتے ہیں۔ غیر بنیادی تکمل کا حل لا متناہی سلسلہ یا اعدادی تراکیب سے حاصل ہو گا۔ اعدادی تراکیب سے حل ہونے والے تکمل میں تفاعل خلل

$$\operatorname{erf}(x) = \frac{2}{\pi}\int_0^x e^{-t^2}\,\mathrm{d}t$$

۸.۳۰۲ اور درج ذیل قسم کے تکمل شامل ہیں جو انجینئری اور طبیعیات میں پائے جاتے ہیں۔

$$\int \sin x^2\,\mathrm{d}x, \quad \int \sqrt{1+x^4}\,\mathrm{d}x$$

۸.۳۰۳ ان کے علاوہ

$$\int \frac{e^x}{x}\,\mathrm{d}x, \quad \int e^{(e^x)}\,\mathrm{d}x, \quad \int \frac{1}{\ln x}\,\mathrm{d}x, \quad \int \ln(\ln x)\,\mathrm{d}x, \quad \int \frac{\sin x}{x}\,\mathrm{d}x$$
$$\int \sqrt{1-k^2\sin^2 x}\,\mathrm{d}x, \quad 0<k<1$$

۸.۳۰۴ بھی غیر بنیادی تکمل ہیں جو بظاہر سادہ نظر آتے ہیں۔ انہیں حل کرنے کی کشش کر کے دیکھیں۔ یہ ثابت کیا جا سکتا ہے کہ مختلف بنیادی تفاعل کو کسی طرح بھی آپس میں جوڑ کر غیر بنیادی تکمل کا حل نہیں لکھا جا سکتا ہے۔ وہ تکمل جن میں بدل پر کر کے غیر بنیادی تکمل میں تبدیل کرنا ممکن ہو کے لئے بھی یہی کچھ درست ہو گا۔ چونکہ یہ تمام متکمل استراری ہیں لہٰذا ان کا الٹ تفرق ضرور پایا جائے گا، لیکن یہ الٹ تفرق غیر بنیادی ہوں گے۔

۸.۳۰۵ اس باب میں آپ کو کہیں پر بھی غیر بنیادی تکمل حل کرنے کو نہیں کہا جائے گا البتہ حقیقی دنیا میں آپ کو ان سے واسطہ ضرور پڑے گا۔

۸.۳۰۶ سوالات

۸.۳۰۷ جدول تکمل کا استعمال

۸.۳۰۸ کتاب کے آخر میں دیا گیا جدول تکمل استعمال کرتے ہوئے سوال ۸.۲۵۱ تا سوال ۸.۲۸۸ حل کریں۔

۸.۳۰۹ سوال ۸.۲۵۱: $\int \frac{\mathrm{d}x}{x\sqrt{x-3}}$

۸.۳۱۰ سوال ۸.۲۵۲: $\int \frac{\mathrm{d}x}{x\sqrt{x+4}}$

۸.۳۱۱ سوال ۸.۲۵۳: $\int \frac{x\,\mathrm{d}x}{\sqrt{x-2}}$

۸.۳۱۲ سوال ۸.۲۵۴: $\int \frac{x\,\mathrm{d}x}{(2x+3)^{3/2}}$

۸.۳۱۳ سوال ۸.۲۵۵: $\int x\sqrt{2x-3}\,\mathrm{d}x$

---

[9] nonelementary

۱۳۰۸۸ سوال ۸.۲۵۶: $\int x(7x+5)^{3/2}\,\mathrm{d}x$

۱۳۰۸۹ سوال ۸.۲۵۷: $\int \frac{\sqrt{9-4x}}{x^2}\,\mathrm{d}x$

۱۳۰۹۰ سوال ۸.۲۵۸: $\int \frac{\mathrm{d}x}{x^2\sqrt{4x-9}}$

۱۳۰۹۱ سوال ۸.۲۵۹: $\int x\sqrt{4x-x^2}\,\mathrm{d}x$

۱۳۰۹۲ سوال ۸.۲۶۰: $\int \frac{\sqrt{x-x^2}}{x}\,\mathrm{d}x$

۱۳۰۹۳ سوال ۸.۲۶۱: $\int \frac{\mathrm{d}x}{x\sqrt{7+x^2}}$

۱۳۰۹۴ سوال ۸.۲۶۲: $\int \frac{\mathrm{d}x}{x\sqrt{7-x^2}}$

۱۳۰۹۵ سوال ۸.۲۶۳: $\int \frac{\sqrt{4-x^2}}{x}\,\mathrm{d}x$

۱۳۰۹۶ سوال ۸.۲۶۴: $\int \frac{\sqrt{x^2-4}}{x}\,\mathrm{d}x$

۱۳۰۹۷ سوال ۸.۲۶۵: $\int \sqrt{25-p^2}\,\mathrm{d}x$

۱۳۰۹۸ سوال ۸.۲۶۶: $\int q^2\sqrt{25-q^2}\,\mathrm{d}x$

۱۳۰۹۹ سوال ۸.۲۶۷: $\int \frac{r^2}{\sqrt{4-r^2}}\,\mathrm{d}r$

۱۳۱۰۰ سوال ۸.۲۶۸: $\int \frac{\mathrm{d}s}{\sqrt{s^2-2}}$

۱۳۱۰۱ سوال ۸.۲۶۹: $\int \frac{\mathrm{d}\theta}{5+4\sin 2\theta}$

۱۳۱۰۲ سوال ۸.۲۷۰: $\int \frac{\mathrm{d}\theta}{4+5\sin 2\theta}$

۱۳۱۰۳ سوال ۸.۲۷۱: $\int e^{2t}\cos 3t\,\mathrm{d}t$

۱۳۱۰۴ سوال ۸.۲۷۲: $\int e^{-3t}\sin 4t\,\mathrm{d}t$

۱۳۱۰۵ سوال ۸.۲۷۳: $\int x\cos^{-1} x\,\mathrm{d}x$

۱۳۱۰۶ سوال ۸.۲۷۴: $\int x\sin^{-1} x\,\mathrm{d}x$

۱۳۱۰۷ سوال ۸.۲۷۵: $\int \frac{\mathrm{d}s}{(9-s^2)^2}$

۱۳۱۰۸ سوال ۸.۲۷۶: $\int \frac{\mathrm{d}\theta}{(2-\theta^2)^2}$

۱۳۱۰۹ سوال ۸.۲۷۷: $\int \frac{\sqrt{4x+9}}{x^2}\,\mathrm{d}x$

۱۳۱۱۰ سوال ۸.۲۷۸: $\int \frac{\sqrt{9x-4}}{x^2}\,\mathrm{d}x$

۱۳۱۱ سوال ۸.۲۷۹: $\int \frac{\sqrt{3t-4}}{t}\,\mathrm{d}t$

۱۳۱۲ سوال ۸.۲۸۰: $\int \frac{\sqrt{3t+9}}{t}\,\mathrm{d}t$

۱۳۱۳ سوال ۸.۲۸۱: $\int x^2 \tan^{-1} x\,\mathrm{d}x$

۱۳۱۴ سوال ۸.۲۸۲: $\int \frac{\tan^{-1} x}{x^2}\,\mathrm{d}x$

۱۳۱۵ سوال ۸.۲۸۳: $\int \sin 3x \cos 2x\,\mathrm{d}x$

۱۳۱۶ سوال ۸.۲۸۴: $\int \sin 2x \cos 3x\,\mathrm{d}x$

۱۳۱۷ سوال ۸.۲۸۵: $\int 8 \sin 4t \sin \frac{t}{2}\,\mathrm{d}t$

۱۳۱۸ سوال ۸.۲۸۶: $\int \sin \frac{t}{3} \sin \frac{t}{6}\,\mathrm{d}t$

۱۳۱۹ سوال ۸.۲۸۷: $\int \cos \frac{\theta}{3} \cos \frac{\theta}{4}\,\mathrm{d}\theta$

۱۳۲۰ سوال ۸.۲۸۸: $\int \cos \frac{\theta}{2} \cos 7\theta\,\mathrm{d}\theta$

۱۳۲۱

۱۳۲۲ **بدل اور جدول**

۱۳۲۳ سوال ۸.۲۸۹ تا سوال ۸.۳۰۲ میں بدل استعمال کر کے ایسا تکمل حاصل کریں جو جدول میں پایا جاتا ہو۔ اس نئے تکمل کو جدول کی مدد سے حل کریں۔

۱۳۲۴ سوال ۸.۲۸۹: $\int \frac{x^3+x+1}{(x^2+1)^2}\,\mathrm{d}x$

۱۳۲۵ سوال ۸.۲۹۰: $\int \frac{x^2+6x}{(x^2+3)^2}\,\mathrm{d}x$

۱۳۲۶ سوال ۸.۲۹۱: $\int \sin^{-1} \sqrt{x}\,\mathrm{d}x$

۱۳۲۷ سوال ۸.۲۹۲: $\int \frac{\cos^{-1} \sqrt{x}}{\sqrt{x}}\,\mathrm{d}x$

۱۳۲۸ سوال ۸.۲۹۳: $\int \frac{\sqrt{x}}{\sqrt{1-x}}\,\mathrm{d}x$

۱۳۲۹ سوال ۸.۲۹۴: $\int \frac{\sqrt{2-x}}{\sqrt{x}}\,\mathrm{d}x$

۱۳۳۰ سوال ۸.۲۹۵: $\int \cot t \sqrt{1-\sin^2 t}\,\mathrm{d}t, \quad 0 < t < \frac{\pi}{2}$

۱۳۳۱ سوال ۸.۲۹۶: $\int \frac{\mathrm{d}t}{\tan t \sqrt{4-\sin^2 t}}$

۱۳۳۲ سوال ۸.۲۹۷: $\int \frac{\mathrm{d}y}{y\sqrt{3+(\ln y)^2}}$

۱۳۳۳ سوال ۸.۲۹۸: $\int \frac{\cos\theta\,\mathrm{d}\theta}{\sqrt{5+\sin^2\theta}}$

۱۳۱۳۴ سوال ۸.۲۹۹: $\int \frac{3\,\mathrm{d}r}{\sqrt{9r^2-1}}$

۱۳۱۳۵ سوال ۸.۳۰۰: $\int \frac{3\,\mathrm{d}y}{\sqrt{1+9y^2}}$

۱۳۱۳۶ سوال ۸.۳۰۱: $\int \cos^{-1}\sqrt{x}\,\mathrm{d}x$

۱۳۱۳۷ سوال ۸.۳۰۲: $\int \tan^{-1}\sqrt{y}\,\mathrm{d}y$

۱۳۱۳۸

۱۳۱۳۹ **کلیات تخفیف کا استعمال**

۱۳۱۴۰ سوال ۸.۳۰۳ تا سوال ۸.۳۲۲ کو کلیات تخفیف کی مدد سے حل کریں۔

۱۳۱۴۱ سوال ۸.۳۰۳: $\int \sin^5 2x\,\mathrm{d}x$

۱۳۱۴۲ سوال ۸.۳۰۴: $\int \sin^5 \frac{\theta}{2}\,\mathrm{d}\theta$

۱۳۱۴۳ سوال ۸.۳۰۵: $\int 8\cos^4 2\pi t\,\mathrm{d}t$

۱۳۱۴۴ سوال ۸.۳۰۶: $\int 3\cos^5 3y\,\mathrm{d}y$

۱۳۱۴۵ سوال ۸.۳۰۷: $\int \sin^2 2\theta\cos^3 2\theta\,\mathrm{d}\theta$

۱۳۱۴۶ سوال ۸.۳۰۸: $\int 9\sin^3\theta\cos^{3/2}\theta\,\mathrm{d}\theta$

۱۳۱۴۷ سوال ۸.۳۰۹: $\int 2\sin^2 t\sec^4 t\,\mathrm{d}t$

۱۳۱۴۸ سوال ۸.۳۱۰: $\int \csc^2 y\cos^5 y\,\mathrm{d}y$

۱۳۱۴۹ سوال ۸.۳۱۱: $\int 4\tan^3 2x\,\mathrm{d}x$

۱۳۱۵۰ سوال ۸.۳۱۲: $\int \tan^4(x/2)\,\mathrm{d}x$

۱۳۱۵۱ سوال ۸.۳۱۳: $\int 8\cot^4 t\,\mathrm{d}t$

۱۳۱۵۲ سوال ۸.۳۱۴: $\int 4\cot^3 2t\,\mathrm{d}t$

۱۳۱۵۳ سوال ۸.۳۱۵: $\int 2\sec^3 \pi x\,\mathrm{d}x$

۱۳۱۵۴ سوال ۸.۳۱۶: $\int \frac{1}{2}\csc^3 \frac{x}{2}\,\mathrm{d}x$

۱۳۱۵۵ سوال ۸.۳۱۷: $\int 3\sec^4 3x\,\mathrm{d}x$

۱۳۱۵۶ سوال ۸.۳۱۸: $\csc^4 \frac{\theta}{3}\,\mathrm{d}\theta$

۱۳۱۵۷ سوال ۸.۳۱۹: $\int \csc^5 x\,\mathrm{d}x$

۱۳۱۵۸ سوال ۸.۳۲۰: $\int \sec^5 x\,\mathrm{d}x$

۱۳۱۵۹ سوال ۸.۳۲۱: $\int 16x^3(\ln x)^2\,\mathrm{d}x$

۱۳۱۶۰ سوال ۸.۳۲۲: $\int (\ln x)^3 \, dx$

۱۳۱۶۱

۱۳۱۶۲ **قوت نما ضرب x کے طاقت**

۱۳۱۶۳ سوال ۸.۳۲۳ تا سوال ۸.۳۳۰ کو جدول کے کلیات 103 تا 106 کی مدد سے حل کریں۔

۱۳۱۶۴ سوال ۸.۳۲۳: $\int xe^{3x} \, dx$

۱۳۱۶۵ سوال ۸.۳۲۴: $\int xe^{-2x} \, dx$

۱۳۱۶۶ سوال ۸.۳۲۵: $\int x^3 e^{x/2} \, dx$

۱۳۱۶۷ سوال ۸.۳۲۶: $\int x^2 e^{\pi x} \, dx$

۱۳۱۶۸ سوال ۸.۳۲۷: $\int x^2 2^x \, dx$

۱۳۱۶۹ سوال ۸.۳۲۸: $\int x^2 2^{-x} \, dx$

۱۳۱۷۰ سوال ۸.۳۲۹: $\int x\pi^x \, dx$

۱۳۱۷۱ سوال ۸.۳۳۰: $\int x2^{\sqrt{2}x} \, dx$

۱۳۱۷۲ **بدل اور کلیات تخفیف**

۱۳۱۷۳ سوال ۸.۳۳۱ تا سوال ۸.۳۳۶ میں بدل (ممکنہ تکونیاتی) کے بعد کلیات تخفیف استعمال کرتے ہوئے تکمل حل کریں۔

۱۳۱۷۴ سوال ۸.۳۳۱: $\int e^t \sec^3(e^t - 1) \, dt$

۱۳۱۷۵ سوال ۸.۳۳۲: $\int \frac{\csc^3 \sqrt{\theta}}{\sqrt{\theta}} \, d\theta$

۱۳۱۷۶ سوال ۸.۳۳۳: $\int_0^1 2\sqrt{x^2+1} \, dx$

۱۳۱۷۷ سوال ۸.۳۳۴: $\int_0^{\sqrt{3}/2} \frac{dy}{(1-y^2)^{5/2}}$

۱۳۱۷۸ سوال ۸.۳۳۵: $\int_1^2 \frac{(r^2-1)^{3/2}}{r} \, dr$

۱۳۱۷۹ سوال ۸.۳۳۶: $\int_0^{1/\sqrt{3}} \frac{dt}{(t^2+1)^{7/2}}$

۱۳۱۸۰ **ہذلولی تفاعل**

۱۳۱۸۱ سوال ۸.۳۳۷ تا سوال ۸.۳۴۲ کو جدول تکمل کی مدد سے حل کریں۔

۱۳۱۸۲ سوال ۸.۳۳۷: $\int \frac{1}{8} \sinh^5 3x \, dx$

۱۳۱۸۳ سوال ۸.۳۳۸: $\int \frac{\cosh^4 \sqrt{x}}{\sqrt{x}} \, dx$

۱۳۱۸۴ سوال ۸.۳۳۹: $\int x^2 \cosh 3x \, dx$

۱۳۱۸۵ سوال ۸.۳۴۰: $\int x \sinh 5x \, \mathrm{d}x$

۱۳۱۸۶ سوال ۸.۳۴۱: $\int \operatorname{sech}^7 x \tanh x \, \mathrm{d}x$

۱۳۱۸۷ سوال ۸.۳۴۲: $\int \operatorname{csch}^3 2x \coth 2x \, \mathrm{d}x$

۱۳۱۸۸ **نظریہ اور مثالیں**

۱۳۱۸۹ سوال ۸.۳۴۳ تا سوال ۸.۳۵۰ میں کتاب کے آخر میں جدول تکمل کے کلیات اخذ کرنے کو کہا گیا ہے۔

۱۳۱۹۰ سوال ۸.۳۴۳: بدل $u = ax + b$ پر کرتے ہوئے کلیہ 9 اخذ کرتے ہوئے درج ذیل تکمل حل کریں۔

$$\int \frac{x}{(ax+b)^2} \, \mathrm{d}x$$

۱۳۱۹۱ سوال ۸.۳۴۴: تکونیاتی بدل پر کرتے ہوئے کلیہ 17 اخذ کرتے ہوئے درج ذیل تکمل حل کریں۔

$$\int \frac{\mathrm{d}x}{(a^2+x^2)^2}$$

۱۳۱۹۲ سوال ۸.۳۴۵: تکونیاتی بدل پر کرتے ہوئے کلیہ 29 اخذ کرتے ہوئے درج ذیل تکمل حل کریں۔

$$\int \sqrt{a^2-x^2} \, \mathrm{d}x$$

۱۳۱۹۳ سوال ۸.۳۴۶: تکونیاتی بدل پر کرتے ہوئے کلیہ 46 اخذ کرتے ہوئے درج ذیل تکمل حل کریں۔

$$\int \frac{\mathrm{d}x}{x^2\sqrt{x^2-a^2}}$$

۱۳۱۹۴ سوال ۸.۳۴۷: درج ذیل کو تکمل بالحصص کی مدد سے حل کرتے ہوئے کلیہ 80 اخذ کریں۔

$$\int x^n \sin ax \, \mathrm{d}x$$

۱۳۱۹۵ سوال ۸.۳۴۸: تکونیاتی بدل پر کرتے ہوئے کلیہ 110 اخذ کرتے ہوئے درج ذیل تکمل حل کریں۔

$$\int x^n (\ln ax)^m \, \mathrm{d}x$$

۱۳۱۹۶ سوال ۸.۳۴۹: تکونیاتی بدل پر کرتے ہوئے کلیہ 99 اخذ کرتے ہوئے درج ذیل تکمل حل کریں۔

$$\int x^n \sin^{-1} ax \, \mathrm{d}x$$

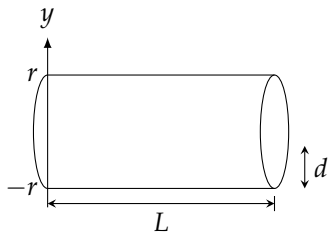

شکل ۸.۱۵: تیل کا حوض (سوال ۸.۳۵۶)

سوال ۸.۳۵۰: تکونیاتی بدل پر کرتے ہوئے کلیہ 101 اخذ کرتے ہوئے درج ذیل تکمل حل کریں۔

$$\int x^n \tan^{-1} ax \, \mathrm{d}x$$

سوال ۸.۳۵۱: منحنی $y = \sqrt{x^2+2},\ 0 \leq x \leq \sqrt{2}$ کو محور x کے گرد گھما کر سطح طواف پیدا کیا جاتا ہے۔ اس سطح کا رقبہ تلاش کریں۔

سوال ۸.۳۵۲: منحنی $y = x^2,\ 0 \leq x \leq \frac{\sqrt{3}}{2}$ کی لمبائی تلاش کریں۔

سوال ۸.۳۵۳: ربع اول میں لکیر $x = 3$ اور منحنی $y = \frac{1}{\sqrt{x+1}}$ ایک خطہ گھیرتے ہیں۔ اس خطے کا وسطانی مرکز تلاش کریں۔

سوال ۸.۳۵۴: ربع اول میں لکیر $x = 3$ اور منحنی $y = \frac{36}{2x+3}$ کے بیچ مستقل کثافت $\delta = 1$ کی چادر پائی جاتی ہے۔ محور y کے لحاظ سے اس خطے کا معیار اثر تلاش کریں۔

سوال ۸.۳۵۵: محور x کے گرد منحنی $y = x^2,\ -1 \leq x \leq 1$ گھما کر سطح طواف پیدا کیا جاتا ہے۔ جدول تکمل اور کیلکولیٹر کی مدد سے اس کا رقبہ 2 اعشاریہ درستگی تک تلاش کریں۔

سوال ۸.۳۵۶: ایک افقی دائری حوض کا رداس r سنٹی میٹر اور لمبائی L سنٹی میٹر ہے۔ اس میں تیل کی گہرائی d سنٹی میٹر ہے (شکل ۸.۱۵)۔ (ا) دکھائیں کہ تیل کا حجم درج ذیل ہے۔

$$H = 2L \int_{-r}^{-r+d} \sqrt{r^2 - y^2} \, \mathrm{d}y$$

(ب) اس تکمل کو حل کریں۔

سوال ۸.۳۵۷: کسی بھی a اور b کے لئے $\int_a^b \sqrt{x - x^2} \, \mathrm{d}x$ کی زیادہ سے زیادہ قیمت کیا ممکن ہے؟ اپنے جواب کی وجہ پیش کریں۔

سوال ۸.۳۵۸: کسی بھی a اور b کے لئے $\int_a^b x\sqrt{x - x^2} \, \mathrm{d}x$ کی زیادہ سے زیادہ قیمت کیا ممکن ہے؟ اپنے جواب کی وجہ پیش کریں۔

کمپیوٹر الجبرائی نظام

کمپیوٹر میں الجبرا کے کئی پروگرام پائے جاتے ہیں۔ان میں سے ایک پروگرام **میکسما**[10] کہلاتا ہے جو نہایت طاقتور پروگرام ہے۔ متغیر x کے تفاعل $f(x)$ کا غیر قطعی تکمل حاصل کرنے کے لئے میکسما میں $integrate(f,x)$ لکھنا ہو گا۔اسی طرح a تا b قطعی تکمل کے لئے $integrate(f,x,a,b)$ لکھنا ہو گا۔ میکسما یا الجبرا کے کسی دوسرے پروگرام کو سیکھ کر اس کی مدد سوال ۸.۳۵۹ اور سوال ۸.۳۶۰ کو حل کریں۔

سوال ۸.۳۵۹:

ا. $\int x \ln x \, dx$

ب. $\int x^2 \ln x \, dx$

ج. $\int x^3 \ln x \, dx$

د. آپ کو کیا نقش نظر آتا ہے؟ تکمل $\int x^4 \ln x \, dx$ کے کلیہ کی پیش گوئی کریں۔کمپیوٹر سے اس کی تصدیق کریں۔

ھ. تکمل $\int x^n \ln x \, dx,\ n \geq 1$ کا کلیہ کیا ہو گا؟ کمپیوٹر سے اس کی تصدیق کریں۔

سوال ۸.۳۶۰:

ا. $\int \frac{\ln x}{x^2} \, dx$

ب. $\int \frac{\ln x}{x^3} \, dx$

ج. $\int \frac{\ln x}{x^4} \, dx$

د. آپ کو کیا نقش نظر آتا ہے؟ تکمل $\int \frac{\ln x}{x^5} \, dx$ کے کلیہ کی پیش گوئی کریں۔کمپیوٹر سے اس کی تصدیق کریں۔

ھ. تکمل $\int \frac{\ln x}{x^n} \, dx,\ n \geq 2$ کا کلیہ کیا ہو گا؟ کمپیوٹر سے اس کی تصدیق کریں۔

سوال ۸.۳۶۱: (ا) درج ذیل تکمل کو کمپیوٹر کی مدد سے حل کریں، جہاں n اختیاری مستقل ہے۔

$$\int_0^{\pi/2} \frac{\sin^n x}{\sin^n x + \cos^n x} \, dx$$

کیا آپ کا کمپیوٹر پروگرام اس کو حل کر پاتا ہے؟ (ب) اختیاری مستقل $n = 1, 2, 3, 5, 7$ لیتے ہوئے تکمل کی قیمت تلاش کریں۔ نتائج کی پیچیدگی پر تبصرہ کریں۔ (ج) اب $x = \frac{\pi}{2} - u$ پر کر کے نئے اور پرانے تکمل کا مجموعہ لیں۔اب درج ذیل تکمل کی قیمت کیا ہے؟

$$\int_0^{\pi/2} \frac{\sin^n x}{\sin^n x + \cos^n x} \, dx$$

آپ دیکھ سکتے ہیں کہ معمولی سی ریاضیاتی عمل سے تکمل کتنا آسان ہو سکتا ہے۔

---

[10] maxima

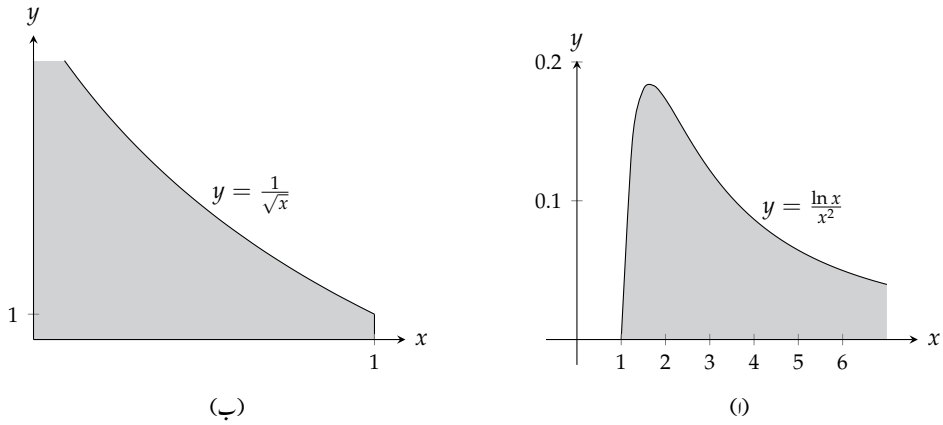

شکل ۸.۱۶: کیا ان منحنیات کے نیچے رقبے متناہی ہیں؟

۸.۶ غیر مناسب تکمل

اب تک قطعی تکمل پر ہم دو شرائط لاگو کرتے آرہے ہیں۔ پہلی شرط میں تکمل کا دائرہ کار a تا b کا متناہی ہونا لازمی تھا۔ دوسری شرط میں متکمل کا سعت متناہی ہونا ضروری تھا۔ حقیقت میں ہمیں عموماً ایسی صورت سے واسطہ پڑتا ہے جہاں ان میں سے ایک شرط یا دونوں شرائط مطمئن نہ ہوتے ہوں۔ زیر منحنی $y = \frac{\ln x}{x^2}$ وقفہ $x = 1$ تا $x = \infty$ رقبہ، لا متناہی دائرہ کار کی مثال ہے (شکل ۸.۱۶-الف)۔ اسی طرح زیر منحنی $y = \frac{1}{\sqrt{x}}$ وقفہ $x = 0$ تا $x = 1$ رقبہ، لا متناہی سعت کی مثال ہے (شکل ۸.۱۶-ب)۔ ہم دونوں مثالوں پر ایک ہی طرح غور کرتے ہیں۔ ہم پوچھتے ہیں کہ دائرہ کار ذرہ کم کرنے سے تکمل کتنا ہو گا اور اس کے بعد دائرہ کار کو لا متناہی تک پہنچاتے ہوئے تکمل کا حد تلاش کرتے ہیں۔ اسی طرح ہم متکمل کو متناہی رکھتے ہوئے تکمل دریافت کر کے متکمل کو لا متناہی تک پہنچاتے ہوئے تکمل کا حد تلاش کرتے ہیں۔

مثال ۸.۳۸: کیا $x = 1$ تا $x = \infty$ منحنی $y = \frac{\ln x}{x^2}$ کے نیچے رقبہ متناہی ہے؟ ایسا ہونے کی صورت میں اس کی قیمت تلاش کریں۔

حل: ہم $x = 1$ تا $x = b$ اس منحنی کے نیچے رقبہ تلاش کر کے $b \to \infty$ کی صورت میں رقبے کی حد تلاش کرتے ہیں۔ اگر حد متناہی ہو، ہم اس کو لا متناہی منحنی کے نیچے رقبہ تصور کرتے ہیں (شکل ۸.۱۷)۔ آئیں $x = 1$ تا $x = b$ رقبہ تلاش کریں۔

$$\begin{aligned}
\int_1^b \frac{\ln x}{x^2}\,\mathrm{d}x &= \left[(\ln x)\left(-\frac{1}{x}\right)\right]_1^b - \int_1^b \left(-\frac{1}{x}\right)\left(\frac{1}{x}\right)\mathrm{d}x \\
&= -\frac{\ln b}{b} - \left[\frac{1}{x}\right]_1^b \\
&= -\frac{\ln b}{b} - \frac{1}{b} + 1
\end{aligned}$$

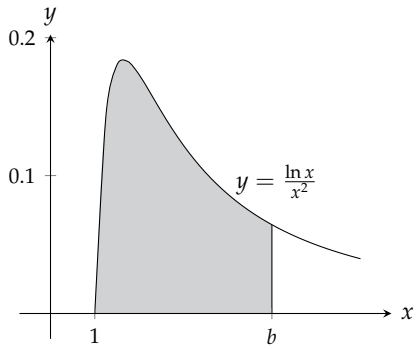

شکل ۸.۱۷: زیر منحنی رقبہ (مثال ۸.۳۸)

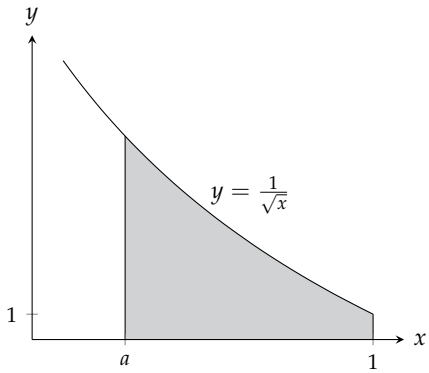

شکل ۸.۱۸: زیر منحنی رقبہ (مثال ۸.۳۹)

۱۳۲۵۲ بالائی حد $b \to \infty$ کرتے ہوئے رقبے کی حد تلاش کرتے ہیں۔

$$\begin{aligned}\lim_{b\to\infty}\left[-\frac{\ln b}{b}-\frac{1}{b}+1\right] &= -\left[\lim_{b\to\infty}\frac{\ln b}{b}\right]-0+1\\ &= -\left[\lim_{b\to\infty}\frac{1/b}{1}\right]+1=0+1=1 \qquad \text{قاعدہ لھوپیٹال}\end{aligned}$$

۱۳۲۵۳ یوں تکملی اظہار میں $x = 1$ تا $x = \infty$ زیر منحنی رقبہ درج ذیل ہو گا۔

$$\int_1^\infty \frac{\ln x}{x^2}\,\mathrm{d}x = \lim_{b\to\infty}\int_1^b \frac{\ln x}{x^2}\,\mathrm{d}x = 1$$

۱۳۲۵۴ □

۱۳۲۵۵ مثال ۸.۳۹: کیا $x = 0$ تا $x = 1$ زیر منحنی $y = \frac{1}{\sqrt{x}}$ رقبہ متناہی ہے؟ اگر ایسا ہو تب رقبہ کتنا ہو گا؟

۱۳۲۵۶ حل: ہم $x = a$ تا $x = 1$ رقبہ تلاش کر کے $a \to 0^+$ کی صورت میں رقبے کی حد پر نظر ڈالتے ہیں۔ اگر یہ حد متناہی ہو تب ہم اس کو 0 تا
۱۳۲۵۷ 1 زیر منحنی رقبہ مانتے ہیں (شکل ۸.۱۸)۔

$$\int_a^1 \frac{1}{\sqrt{x}}\,\mathrm{d}x = 2\sqrt{x}\Big|_a^1 = 2-2\sqrt{a}$$

۱۳۲۵۸ اب $a \to 0^+$ کرتے ہوئے رقبے کا حد تلاش کرتے ہیں۔

$$\lim_{a\to 0^+}(2-2\sqrt{a}) = 2-0 = 2$$

۱۳۲۵۹ یوں تکملی اظہار میں 0 تا 1 زیر منحنی رقبہ درج ذیل ہو گا۔

$$\int_0^1 \frac{1}{\sqrt{x}}\,\mathrm{d}x = \lim_{a\to 0^+}\int_a^1 \frac{1}{\sqrt{x}}\,\mathrm{d}x = 2$$

۱۳۲۶۰ □

۱۳۲۶۱ غیر مناسب تکمل

۱۳۲۶۲ مثال ۸.۳۸ اور مثال ۸.۳۹ میں تکمل غیر مناسب ہیں۔

۱۳۲۶۳ تعریف: وہ تکمل جن کی حدیں لا متناہی ہوں اور وہ تکمل جن کے متکمل وقفہ تکمل کے کسی نقطہ پر لا متناہی قیمت رکھتا ہو **غیر مناسب تکمل** کہلاتے ہیں۔

۱۳۲۶۴ اگر تکمل کا حد موجود ہو تب اس حد کو درج ذیل طریقہ سے حاصل کیا جاتا ہے۔

۱۳۲۶۵ ا. اگر وقفہ $[a,\infty)$ پر f استمراری ہو تب درج ذیل ہو گا۔

$$\int_a^\infty f(x)\,\mathrm{d}x = \lim_{b\to\infty}\int_a^b f(x)\,\mathrm{d}x \tag{۱}$$

۱۳۲۶۶ ب. اگر وقفہ $(-\infty,b]$ پر f استمراری ہو تب درج ذیل ہو گا۔

$$\int_{-\infty}^b f(x)\,\mathrm{d}x = \lim_{a\to-\infty}\int_a^b f(x)\,\mathrm{d}x \tag{۲}$$

۱۳۲۶۷ ج. اگر وقفہ $(a,b]$ پر f استمراری ہو تب درج ذیل ہو گا۔

$$\int_a^b f(x)\,\mathrm{d}x = \lim_{c\to a^+}\int_c^b f(x)\,\mathrm{d}x \tag{۳}$$

۱۳۲۶۸ د. اگر وقفہ $[a,b)$ پر f استمراری ہو تب درج ذیل ہو گا۔

$$\int_a^b f(x)\,\mathrm{d}x = \lim_{c\to b^-}\int_a^c f(x)\,\mathrm{d}x \tag{۴}$$

۱۳۲۶۹ اگر تکمل کا حد متناہی ہو تب ہم کہتے ہیں کہ یہ غیر مناسب تکمل **مرتکز** ہے اور تکمل کی حدوں کو اس غیر مناسب تکمل کی قیمت تصور کرتے ہیں۔ اگر تکمل کا حد غیر
۱۳۲۷۰ موجود ہو تب ہم کہتے ہیں کہ یہ غیر مناسب تکمل **منفرج** ہے۔

۱۳۲۷۱ □

۱۳۲۷۲ تعریف کی پہلی شق مثال ۸.۳۸ میں نظر آتی ہے:

$$\int_1^\infty \frac{\ln x}{x^2}\,\mathrm{d}x = \lim_{b\to\infty}\int_1^b \frac{\ln x}{x^2}\,\mathrm{d}x = 1 \qquad \text{بالائی حد لا متناہی ہے}$$

۱۳۲۷۳ تعریف کی تیسری شق مثال ۸.۳۹ میں نظر آتی ہے:

$$\int_0^1 \frac{1}{\sqrt{x}}\,\mathrm{d}x = \lim_{a\to 0^+}\int_a^1 \frac{1}{\sqrt{x}}\,\mathrm{d}x = 2 \qquad \text{تکمل کے زیریں حد پر متکمل لا متناہی ہے}$$

۱۳۲۷۴ مذکورہ بالا دونوں صورتوں میں تکمل کا حد متناہی ہے۔ اگلی مثال میں تکمل منفرج ہے۔

۱۳۲۷۵ مثال ۸.۴۰: منفرج غیر مناسب تکمل

۱۳۲۷۶ درج ذیل تکمل کی مرکوزیت پر غور کریں۔

$$\int_0^1 \frac{1}{1-x}\,\mathrm{d}x$$

۱۳۲۷۷ حل: وقفہ $[0,1)$ پر متکمل $f(x) = \frac{1}{1-x}$ استراری ہے لیکن $a \to 1^-$ کرنے سے یہ لا متناہی ہوتا ہے (شکل ۸.۱۹)۔ ہم تکمل کی قیمت

۱۳۲۷۸ حاصل کرنے کی کوشش کرتے ہیں۔

$$\begin{aligned}\lim_{b\to 1^-}\int_0^b \frac{1}{1-x}\,\mathrm{d}x &= \lim_{b\to 1^-}\Big[-\ln|1-x|\Big]_0^b\\ &= \lim_{b\to 1^-}[-\ln(1-b)+0] = \infty\end{aligned}$$

۱۳۲۷۹ تکمل کا حد لا متناہی ہے لہٰذا یہ منفرج تکمل ہے۔ □

۱۳۲۸۰ مذکورہ بالا تعریف کو وسعت دیتے ہوئے ان تکمل جن کے زیریں اور بالائی حدود دونوں لا متناہی ہوں پر لاگو کیا جاتا ہے۔ ہم ان پر اسی حصے میں بعد میں غور کریں

۱۳۲۸۱ گے۔ وقفہ تکمل کے اندر نقطہ d پر لا متناہی متکمل کی صورت پر بھی یہ تعریف لاگو کی جاتی ہے۔ ہم ایسے تکمل کو دو ٹکڑوں میں تقسیم کرتے ہوئے a تا b

۱۳۲۸۲ تکمل کو a تا d تکمل اور d تا b تکمل کا مجموعہ لیتے ہیں۔

۱۳۲۸۳ تعریف: اگر وقفہ $[a,b]$ کے اندرون کسی نقطہ d پر متکمل f کی قیمت لا متناہی ہو تب درج ذیل ہو گا۔

$$\int_a^b f(x)\,\mathrm{d}x = \int_a^d f(x)\,\mathrm{d}x + \int_d^b f(x)\,\mathrm{d}x \tag{۵}$$

۱۳۲۸۴ اگر a تا d اور d تا b تکمل مرتکز ہوں تب a تا b تکمل **مرتکز** ہو گا ورنہ a تا b تکمل **منفرج** ہو گا۔

۱۳۲۸۵ □

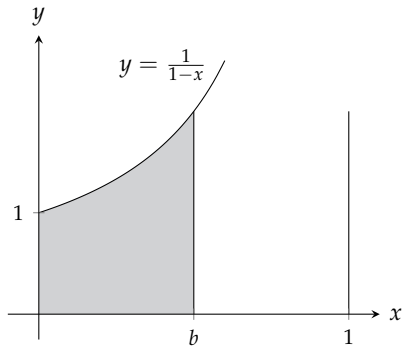

شکل ۸.۱۹: غیر مناسب منفرج تکمل (مثال ۸.۴۰)

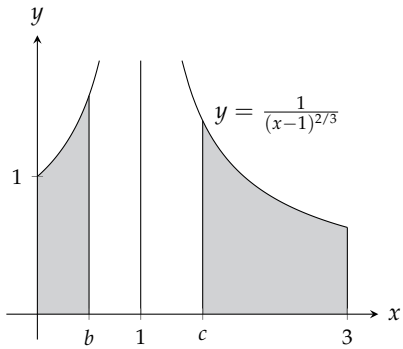

شکل ۸.۲۰: اندرون نقطہ پر لا متناہی متکمل (مثال ۸.۴۱)

۱۳۲۸۶ مثال ۸.۴۱: اندرونی نقطہ پر لا متناہی

۱۳۲۸۷ درج ذیل تکمل کی مرکوزیت پر غور کریں۔

$$\int_0^3 \frac{\mathrm{d}x}{(x-1)^{2/3}}$$

۱۳۲۸۸ حل: متکمل $f(x) = \frac{1}{(x-1)^{2/3}}$ نقطہ $x = 1$ پر لا متناہی ہے جبکہ وقفہ $[0,1)$ اور $(1,3]$ پر یہ استمراری ہے (شکل ۸.۲۰)۔ وقفہ

۱۳۲۸۹ $[0,3]$ پر تکمل کی مرکوزیت وقفہ 0 تا 1 اور وقفہ 1 تا 3 پر تکمل کی مرکوزیت پر منحصر ہے۔ وقفہ $[0,1]$ پر

$$\begin{aligned}\int_0^1 \frac{\mathrm{d}x}{(x-1)^{2/3}} &= \lim_{b\to 1^-} \int_0^b \frac{\mathrm{d}x}{(x-1)^{2/3}} \\ &= \lim_{b\to 1^-} [3(b-1)^{1/3} - 3(0-1)^{1/3}] = 3\end{aligned}$$

۱۳۲۹۰ اور وقفہ $[1,3]$ پر

$$\begin{aligned}\int_1^3 \frac{\mathrm{d}x}{(x-1)^{2/3}} &= \lim_{c\to 1^+} \int_c^3 \frac{\mathrm{d}x}{(x-1)^{2/3}} \\ &= \lim_{c\to 1^+} [3(3-1)^{1/3} - 3(c-1)^{1/3}] = 3\sqrt[3]{2}\end{aligned}$$

۱۳۲۹۱ ہو گا۔ دونوں حد متناہی ہیں لہٰذا وقفہ 0 تا 3 تفاعل f کا تکمل مرتکز ہو گا اور اس کی قیمت $3 + 3\sqrt[3]{2}$ ہو گی۔ □

۱۳۲۹۲ مثال ۸.۴۲: محور x کے عمودی ایک بگل کا رقبہ عمودی تراش دائری قرص ہیں جن کے قطر وقفہ $-\infty < x \leq \ln 2$ پر محور x سے منحنی

۱۳۲۹۳ $y = e^x$ تک ہیں (شکل ۸.۲۱)۔ اس بگل کا حجم تلاش کریں۔

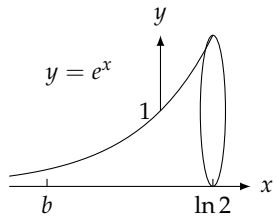

شکل ۸.۲۱: ٹھوس بگل کا حجم (مثال ۸.۴۲)

۱۳۲۹۴ حل: ایک علامتی رقبہ عمودی تراش کا رقبہ

$$S(x) = \pi(\text{رداس})^2 = \pi\left(\frac{1}{2}y\right)^2 = \frac{\pi}{4}e^{2x}$$

۱۳۲۹۵ ہوگا۔ ہم $b \to -\infty$ کرتے ہوئے b تا $\ln 2$ تک حجم کی حد کو بگل کا حجم مانتے ہیں۔ ہم حصہ ۶.۲ کی طرح ٹکیاں کاٹ کر حجم تلاش کرتے ہیں۔

$$\begin{aligned} H &= \int_b^{\ln 2} S(x)\,\mathrm{d}x = \int_b^{\ln 2} \frac{\pi}{4}e^{2x}\,\mathrm{d}x = \frac{\pi}{8}e^{2x}\Big|_b^{\ln 2} \\ &= \frac{\pi}{8}(e^{\ln 4} - e^{2b}) = \frac{\pi}{8}(4 - e^{2b}) \end{aligned}$$

۱۳۲۹۶ اب $b \to -\infty$ کرنے سے $e^{2b} \to 0$ لہٰذا $H \to \frac{\pi}{8}(4-0) = \frac{\pi}{2}$ ہوتا ہے۔ یوں بگل کا حجم $\frac{\pi}{2}$ ہوگا۔ □

۱۳۲۹۷ مثال ۸.۴۳: تکمل $\int_2^\infty \frac{x+3}{(x-1)(x^2+1)}\,\mathrm{d}x$ حل کریں۔

۱۳۲۹۸ حل:

$$\begin{aligned} \int_2^\infty \frac{x+3}{(x-1)(x^2+1)}\,\mathrm{d}x &= \lim_{b\to\infty}\int_2^b \frac{x+3}{(x-1)(x^2+1)}\,\mathrm{d}x \\ &= \lim_{b\to\infty}\int_2^b \left(\frac{2}{x-1} - \frac{2x+1}{x^2+1}\right)\mathrm{d}x && \text{جزوی کسر} \\ &= \lim_{b\to\infty}\Big[2\ln(x-1) - \ln(x^2+1) - \tan^{-1}x\Big]_2^b \\ &= \lim_{b\to\infty}\left[\ln\frac{(x-1)^2}{x^2+1} - \tan^{-1}x\right]_2^b && \text{لوگارتھمی اجزاء یکجا} \\ &= \lim_{b\to\infty}\left[\ln\frac{(b-1)^2}{b^2+1} - \tan^{-1}b\right] - \ln\left(\frac{1}{5}\right) + \tan^{-1}2 \\ &= 0 - \frac{\pi}{2} + \ln 5 + \tan^{-1}2 \approx 1.1458 \end{aligned}$$

۱۳۲۹۹ □

۱۳۳۰۰ آپ نے دیکھا کہ $b \to \infty$ کر کے حد کی تلاش سے پہلے ہم نے لوگارتھمی اجزاء کو یکجا کیا۔ اگر ہم ایسا نہ کرتے تب ہمیں درج ذیل ناقابل معلوم مقدار ملتی۔

$$\lim_{b\to\infty}[(2\ln(b-1)) - \ln(b^2+1)] = \infty - \infty$$

۱۳۳۰۱ $-\infty$ سے ∞ تک تکمل

۱۳۳۰۲ روشنی، بجلی اور صدا پر غور کرنے سے ایسے تکمل حاصل ہوتے ہیں جن کے دونوں حد لا متناہی ہوتے ہیں۔ اگلا تعریف ان کی مرکوزیت پر ہے۔

۱۳۳۰۳ تعریف: اگر وقفہ $(-\infty, \infty)$ پر f استمراری ہو اور اگر $\int_{-\infty}^{a} f(x)\,\mathrm{d}x$ اور $\int_{a}^{\infty} f(x)\,\mathrm{d}x$ دونوں مرتکز ہوں تب ہم کہتے ہیں
۱۳۳۰۴ کہ $\int_{-\infty}^{\infty} f(x)\,\mathrm{d}x$ مرتکز ہے اور اس کی قیمت

$$\int_{-\infty}^{\infty} f(x)\,\mathrm{d}x = \int_{-\infty}^{a} f(x)\,\mathrm{d}x + \int_{a}^{\infty} f(x)\,\mathrm{d}x \tag{۶}$$

۱۳۳۰۵ مانتے ہیں۔ اگر دائیں ہاتھ ایک بھی تکمل منفرج ہو تب $-\infty$ سے ∞ تک f کا تکمل منفرج ہو گا۔

۱۳۳۰۶ □

۱۳۳۰۷ ہم یہ دکھا سکتے ہیں کہ مساوات ۶ میں a کی قیمت اہمیت نہیں رکھتی ہے۔ ہم a کی کوئی بھی موزوں قیمت لے کر $\int_{-\infty}^{\infty} f(x)\,\mathrm{d}x$ کی مرکوزیت
۱۳۳۰۸ دریافت کر سکتے ہیں۔

۱۳۳۰۹ تفاعل f کا $-\infty$ سے ∞ تک تکمل $\lim_{b\to\infty}\int_{-b}^{b} f(x)\,\mathrm{d}x$ سے مختلف ہو سکتا ہے، جو $\int_{-\infty}^{\infty} f(x)\,\mathrm{d}x$ کی عدم مرکوزیت کی
۱۳۳۱۰ صورت میں بھی موجود ہو سکتا ہے (سوال ۸.۴۳۶)۔

۱۳۳۱۱ مثال ۸.۴۴:

$$\begin{aligned}
\int_{-\infty}^{\infty} \frac{\mathrm{d}x}{1+x^2} &= \int_{-\infty}^{0} \frac{\mathrm{d}x}{1+x^2} + \int_{0}^{\infty} \frac{\mathrm{d}x}{1+x^2} \qquad a = 0 \text{ مساوات ۶ میں} \\
&= \lim_{b\to-\infty}[\tan^{-1} x]_b^0 + \lim_{c\to\infty}[\tan^{-1} x]_0^c \\
&= \lim_{b\to-\infty}[\tan^{-1} 0 - \tan^{-1} b] + \lim_{c\to\infty}[\tan^{-1} c - \tan^{-1} 0] \\
&= 0 - \left(-\frac{\pi}{2}\right) + \frac{\pi}{2} - 0 = \pi
\end{aligned}$$

۱۳۳۱۲ ہم محور x اور منحنی $y = \frac{1}{1+x^2}$ کے نیچے لا متناہی خطے کے رقبہ کو تکمل کی قیمت مانتے ہیں (شکل ۸.۲۲)۔ □

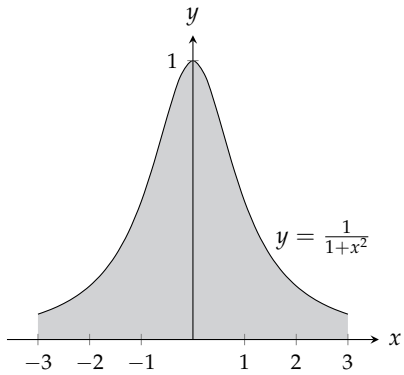

شکل ۸.۲۲: دونوں اطراف لامتناہی منحنی کے نیچے رقبہ متناہی ہے۔

۱۳۳۱۳ تکمل $\int_1^\infty \frac{\mathrm{d}x}{x^p}$

۱۳۳۱۴ تکمل $\int_1^\infty \frac{\mathrm{d}x}{x^p}$ کی مرکوزیت p پر منحصر ہے۔ اگلی مثال میں $p = 1$ اور $p = 2$ کے لئے اس حقیقت کو دیکھتے ہیں۔

۱۳۳۱۵ مثال ۸.۴۵: درج ذیل کی مرکوزیت پر غور کریں۔

$$\int_1^\infty \frac{\mathrm{d}x}{x^2} \quad \text{اور} \quad \int_1^\infty \frac{\mathrm{d}x}{x}$$

۱۳۳۱۶ حل: وقفہ $[1, \infty)$ پر دونوں تفاعل استمراری ہیں اور $x \to \infty$ کرنے سے دونوں کی ترسیمات محور x کے قریب آتی ہیں (شکل ۸.۲۳) لہٰذا کیا

۱۳۳۱۷ ہم کہہ سکتے ہیں کہ دونوں منحنیات کے نیچے رقبے متناہی ہوں گے؟ پہلے تکمل کی صورت میں

$$\int_1^\infty \frac{\mathrm{d}x}{x} = \lim_{b\to\infty} \int_1^b \frac{\mathrm{d}x}{x} = \lim_{b\to\infty} (\ln b - \ln 1) = \infty$$

۱۳۳۱۸ ہے لہٰذا تکمل منفرج ہو گا۔ دوسری تکمل کی صورت میں

$$\int_1^\infty \frac{\mathrm{d}x}{x^2} = \lim_{b\to\infty} \int_1^b \frac{\mathrm{d}x}{x^2} = \lim_{b\to\infty} \left(-\frac{1}{b} + 1\right) = 1$$

۱۳۳۱۹ ہے لہٰذا تکمل مرتکز ہے اور اس کی قیمت 1 ہے۔

۱۳۳۲۰ عمومی طور $p > 1$ کے لئے $\int_1^\infty \frac{\mathrm{d}x}{x^p}$ مرکوز جبکہ $p \leq 1$ کے لئے منفرج ہو گا (سوال ۸.۴۲۸)۔ □

۱۳۳۲۱ عموماً $p > 1$ کی صورت میں $\int_1^\infty \frac{\mathrm{d}x}{x^p}$ مرتکز اور $p \leq 1$ کی صورت میں منفرج ہو گا۔

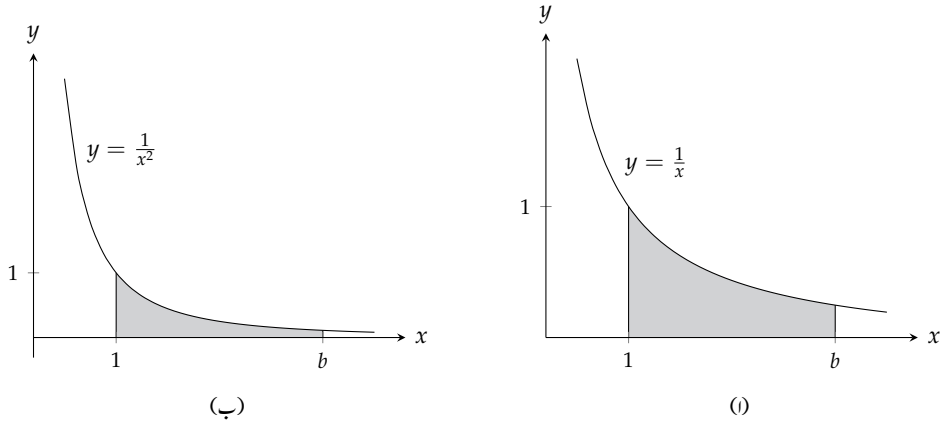

شکل ۸.۲۳: ایک منحنی کے نیچے رقبہ لامتناہی اور دوسرے کے نیچے متناہی ہے (مثال ۸.۴۵)۔

ارتکاز اور انفراج کے پرکھ

جب کسی غیر مناسب تکمل کی قیمت بلاواسطہ قابل حل نہ ہو (جیسا عموماً ہوگا) تب ہم دو اقدام طریقہ استعمال کرتے ہوئے پہلے ارتکاز ثابت کرتے ہیں اور اس کے بعد اعدادی تراکیب سے تکمل کی قیمت دریافت کرتے ہیں۔ ارتکاز کے بنیادی پرکھ دو ہیں: بلاواسطہ تقابلی پرکھ اور تقابل حد پرکھ ہیں۔

مثال ۸.۴۶: تکمل $\int_1^\infty e^{-x^2}\,\mathrm{d}x$ کے ارتکاز پر غور کریں۔

حل: تعریف کی رو سے

$$\int_1^\infty e^{-x^2}\,\mathrm{d}x = \lim_{b\to\infty}\int_1^b e^{-x^2}\,\mathrm{d}x$$

ہوگا۔ چونکہ یہ تکمل غیر بنیادی ہے لہٰذا اس کو ہم بلاواسطہ حل نہیں کر سکتے ہیں۔ البتہ ہم دکھا سکتے ہیں کہ $b \to \infty$ کرتے ہوئے اس کا حد متناہی ہے۔ ہم جانتے ہیں کہ $\int_1^b e^{-x^2}\,\mathrm{d}x$ متغیر b کا بڑھتا تفاعل ہے لہٰذا $b \to \infty$ کرنے سے یا یہ لامتناہی ہوگا اور یا $b \to \infty$ کرنے سے اس کا حد متناہی ہوگا۔ اب ہر $x \geq 1$ کے لئے $e^{-x^2} \leq e^{-x}$ ہے (شکل ۸.۲۴) لہٰذا

$$\int_1^b e^{-x^2}\,\mathrm{d}x \leq \int_1^b e^{-x}\,\mathrm{d}x = e^{-b} + e^{-1} < e^{-1} \approx 0.36788$$

ہوگا اور یوں تکمل لامتناہی نہیں ہے۔ یوں

$$\int_1^\infty e^{-x^2}\,\mathrm{d}x = \lim_{b\to\infty}\int_1^b e^{-x^2}\,\mathrm{d}x$$

کسی مخصوص قیمت کو مرتکز ہوگا۔ ہم اس تکمل کی قیمت نہیں جانتے ہیں البتہ اتنا ضرور جانتے ہیں کہ تکمل کی قیمت 0.37 سے کم ہے۔ □

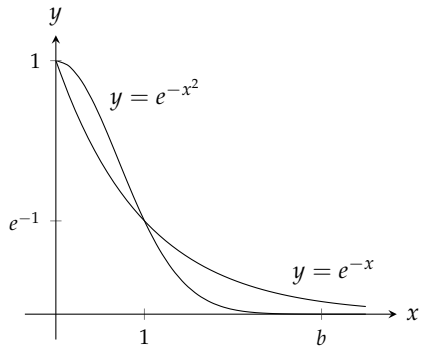

شکل ۸.۲۴: وقفہ $x > 1$ پر ترسیم e^{-x^2} ترسیم e^{-x} کے نیچے ہے۔

تفاعل e^{-x^2} اور e^{-x} کا پرکھ مثال ۸.۴۶ میں کیا گیا جو درج ذیل کی ایک مخصوص صورت ہے۔

مسئلہ ۸.۱: **بلا واسطہ تقابلی پرکھ**

فرض کریں وقفہ $[a, \infty)$ پر f اور g استمراری ہیں اور تمام $x \geq a$ پر $0 \leq f(x) \leq g(x)$ ہے۔ تب درج ذیل ہوں گے۔

ا. اگر $\int_a^\infty g(x)\,\mathrm{d}x$ مرتکز ہو تب $\int_a^\infty f(x)\,\mathrm{d}x$ مرتکز ہو گا۔

ب. اگر $\int_a^\infty f(x)\,\mathrm{d}x$ منفرج ہو تب $\int_a^\infty g(x)\,\mathrm{d}x$ منفرج ہو گا۔

مثال ۸.۴۷: (ا) چونکہ $[1, \infty)$ پر $0 \leq \frac{\sin^2 x}{x^2} \leq \frac{1}{x^2}$ اور $\int_1^\infty \frac{\mathrm{d}x}{x^2}$ مرتکز ہے لہٰذا $\int_1^\infty \frac{\sin^2 x}{x^2}\,\mathrm{d}x$ مرتکز ہو گا۔

(ب) چونکہ $[1, \infty)$ پر $\frac{1}{\sqrt{x^2-0.1}} \geq \frac{1}{x}$ اور $\int_1^\infty \frac{\mathrm{d}x}{x}$ منفرج ہے لہٰذا $\int_1^\infty \frac{\mathrm{d}x}{\sqrt{x^2-0.1}}$ منفرج ہو گا۔ □

مسئلہ ۸.۲: **تقابلی حد پرکھ**

اگر $[a, \infty)$ پر مثبت تفاعل f اور g استمراری ہوں اور اگر

$$\lim_{x\to\infty} \frac{f(x)}{g(x)} = L \qquad (0 < L < \infty)$$

ہو تب $\int_a^\infty f(x)\,\mathrm{d}x$ اور $\int_a^\infty g(x)\,\mathrm{d}x$ دونوں یا مرتکز ہوں گے اور یا دونوں منفرج ہوں گے۔

حصہ ۷.۷ کی زبان میں مسئلہ ۸.۲ کہتا ہے کہ اگر $x \to \infty$ پر دو تفاعل ایک ہی شرح سے بڑھتے ہوں تب a سے ∞ تک ان دونوں کے تکمل کا رویہ ایک دوسرے جیسا ہو گا۔ دونوں مرتکز یا دونوں منفرج ہوں گے۔ اس کا ہرگز یہ مطلب نہیں ہے کہ ان دو تکمل کی قیمت ایک دوسرے جیسی ہو گی۔

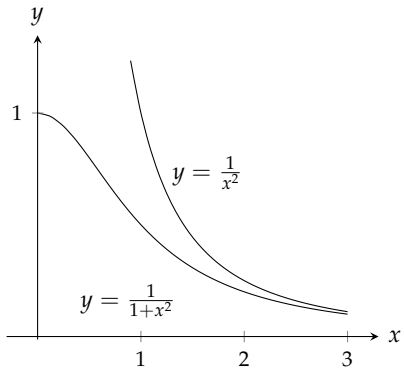

شکل ۸.۲۵: تفاعل برائے مثال ۸.۴۸

۱۳۳۴۶ مثال ۸.۴۸: درج ذیل کا آپس میں تقابل حد پرکھ کی مدد سے موازنہ کریں۔

$$\int_1^\infty \frac{\mathrm{d}x}{x^2}, \quad \int_1^\infty \frac{\mathrm{d}x}{1+x^2}$$

۱۳۳۴۷ حل: ہم $f(x) = \frac{1}{x^2}$ اور $g(x) = \frac{1}{1+x^2}$ لیتے ہیں۔ یوں

$$\begin{aligned}\lim_{x\to\infty} \frac{f(x)}{g(x)} &= \lim_{x\to\infty} \frac{1/x^2}{1/(1+x^2)} \\ &= \lim_{x\to\infty} \frac{1+x^2}{x^2} = \lim_{x\to\infty} \left(\frac{1}{x^2}+1\right) = 0+1 = 1\end{aligned}$$

۱۳۳۴۸ متناہی مثبت حد ہے (شکل ۸.۲۵)۔ اب چونکہ $\int_1^\infty \frac{\mathrm{d}x}{x^2}$ مرتکز ہے لہٰذا $\int_1^\infty \frac{\mathrm{d}x}{1+x^2}$ بھی مرتکز ہو گا۔

۱۳۳۴۹ دونوں تکمل کی قیمتیں البتہ مختلف ہیں۔

مثال ۸.۴۵

$$\int_1^\infty \frac{\mathrm{d}x}{x^2} = 1$$

$$\begin{aligned}\int_1^\infty \frac{\mathrm{d}x}{1+x^2} &= \lim_{b\to\infty} \int_1^b \frac{\mathrm{d}x}{1+x^2} \\ &= \lim_{b\to\infty} [\tan^{-1} b - \tan^{-1} 1] = \frac{\pi}{2} - \frac{\pi}{4} = \frac{\pi}{4}\end{aligned}$$

۱۳۳۵۰ □

۱۳۳۵۱ مثال ۸.۴۹: چونکہ $\int_1^\infty \frac{\mathrm{d}x}{e^x}$ مرتکز ہے اور

$$\begin{aligned}\lim_{x\to\infty}\frac{1/e^x}{3/(e^x+5)} &= \lim_{x\to\infty}\frac{e^x+5}{3e^x}\\ &= \lim_{x\to\infty}\left(\frac{1}{3}+\frac{5}{3e^x}\right)=\frac{1}{3}+0=\frac{1}{3}\end{aligned}$$

۱۳۳۵۲ مثبت متناہی حد ہے لہٰذا $\int_1^\infty \frac{3}{e^x+5}\,\mathrm{d}x$ مرتکز ہو گا۔ جہاں تک غیر متناسب تکمل کی ارتکاز کی بات ہے $\frac{3}{e^x+5}$ اور $\frac{1}{e^x}$ کا رویہ ایک دوسرے جیسا
۱۳۳۵۳ ہے۔ □

۱۳۳۵۴ **سوالات**

۱۳۳۵۵ **غیر مناسب تکمل**

۱۳۳۵۶ سوال ۸.۳۶۲ تا سوال ۸.۳۹۵ کو جدول کلیات تکمل کی مدد کے بغیر حل کریں۔

۱۳۳۵۷ سوال ۸.۳۶۲: $\int_0^\infty \frac{\mathrm{d}x}{x^2+1}$

۱۳۳۵۸ سوال ۸.۳۶۳: $\int_1^\infty \frac{\mathrm{d}x}{x^{1.001}}$

۱۳۳۵۹ سوال ۸.۳۶۴: $\int_0^1 \frac{\mathrm{d}x}{\sqrt{x}}$

۱۳۳۶۰ سوال ۸.۳۶۵: $\int_0^4 \frac{\mathrm{d}x}{\sqrt{4-x}}$

۱۳۳۶۱ سوال ۸.۳۶۶: $\int_{-1}^1 \frac{\mathrm{d}x}{x^{2/3}}$

۱۳۳۶۲ سوال ۸.۳۶۷: $\int_{-8}^1 \frac{\mathrm{d}x}{x^{1/3}}$

۱۳۳۶۳ سوال ۸.۳۶۸: $\int_0^1 \frac{\mathrm{d}x}{\sqrt{1-x^2}}$

۱۳۳۶۴ سوال ۸.۳۶۹: $\int_0^1 \frac{\mathrm{d}r}{r^{0.999}}$

۱۳۳۶۵ سوال ۸.۳۷۰: $\int_{-\infty}^{-2} \frac{2\,\mathrm{d}x}{x^2-1}$

۱۳۳۶۶ سوال ۸.۳۷۱: $\int_{-\infty}^{2} \frac{2\,\mathrm{d}x}{x^2+4}$

۱۳۳۶۷ سوال ۸.۳۷۲: $\int_2^\infty \frac{2\,\mathrm{d}v}{v^2-v}$

۱۳۳۶۸ سوال ۸.۳۷۳: $\int_2^\infty \frac{2\,\mathrm{d}t}{t^2-1}$

۱۳۳۶۹ سوال ۸.۳۷۴: $\int_{-\infty}^\infty \frac{2x\,\mathrm{d}x}{(x^2+1)^2}$

۱۳۳۷۰ سوال ۸.۳۷۵: $\int_{-\infty}^{\infty} \frac{x\,\mathrm{d}x}{(x^2+4)^{3/2}}$

۱۳۳۷۱ سوال ۸.۳۷۶: $\int_0^1 \frac{\theta+1}{\sqrt{\theta^2+2\theta}}\,\mathrm{d}\theta$

۱۳۳۷۲ سوال ۸.۳۷۷: $\int_0^2 \frac{s+1}{\sqrt{4-s^2}}\,\mathrm{d}s$

۱۳۳۷۳ سوال ۸.۳۷۸: $\int_0^{\infty} \frac{\mathrm{d}x}{(1+x)\sqrt{x}}$

۱۳۳۷۴ سوال ۸.۳۷۹: $\int_1^{\infty} \frac{\mathrm{d}x}{x\sqrt{x^2-1}}$

۱۳۳۷۵ سوال ۸.۳۸۰: $\int_0^{\infty} \frac{\mathrm{d}v}{(1+v^2)(1+\tan^{-1} v)}$

۱۳۳۷۶ سوال ۸.۳۸۱: $\int_0^{\infty} \frac{16\tan^{-1} x}{1+x^2}\,\mathrm{d}x$

۱۳۳۷۷ سوال ۸.۳۸۲: $\int_{-\infty}^{0} \theta e^{\theta}\,\mathrm{d}\theta$

۱۳۳۷۸ سوال ۸.۳۸۳: $\int_0^{\infty} 2e^{-\theta}\sin\theta\,\mathrm{d}\theta$

۱۳۳۷۹ سوال ۸.۳۸۴: $\int_{-\infty}^{\infty} e^{-|x|}\,\mathrm{d}x$

۱۳۳۸۰ سوال ۸.۳۸۵: $\int_{-\infty}^{\infty} 2xe^{-x^2}\,\mathrm{d}x$

۱۳۳۸۱ سوال ۸.۳۸۶: $\int_0^1 x\ln x\,\mathrm{d}x$

۱۳۳۸۲ سوال ۸.۳۸۷: $\int_0^1 (-\ln x)\,\mathrm{d}x$

۱۳۳۸۳ سوال ۸.۳۸۸: $\int_0^2 \frac{\mathrm{d}s}{\sqrt{4-s^2}}$

۱۳۳۸۴ سوال ۸.۳۸۹: $\int_0^1 \frac{4r\,\mathrm{d}r}{\sqrt{1-r^4}}$

۱۳۳۸۵ سوال ۸.۳۹۰: $\int_1^2 \frac{\mathrm{d}s}{s\sqrt{s^2-1}}$

۱۳۳۸۶ سوال ۸.۳۹۱: $\int_2^4 \frac{\mathrm{d}t}{t\sqrt{t^2-4}}$

۱۳۳۸۷ سوال ۸.۳۹۲: $\int_{-1}^4 \frac{\mathrm{d}x}{\sqrt{|x|}}$

۱۳۳۸۸ سوال ۸.۳۹۳: $\int_0^2 \frac{\mathrm{d}x}{\sqrt{|x-1|}}$

۱۳۳۸۹ سوال ۸.۳۹۴: $\int_{-1}^{\infty} \frac{\mathrm{d}\theta}{\theta^2+5\theta+6}$

۱۳۳۹۰ سوال ۸.۳۹۵: $\int_0^{\infty} \frac{\mathrm{d}x}{(x+1)(x^2+1)}$

پرکھ ارتکاز

سوال ۸.۳۹۶ تا سوال ۸.۴۲۵ میں تکمل، بلاواسطہ تقابلی پرکھ یا تقابل حد پرکھ کی مدد سے تکمل کو ارتکاز کے لئے پرکھیں۔ اگر ایک سے زیادہ طریقے قابل استعمال ہوں، وہاں اپنی مرضی سے کسی ایک طریقہ کو استعمال کریں۔

سوال ۸.۳۹۶: $\int_0^{\pi/2} \tan\theta \, d\theta$

سوال ۸.۳۹۷: $\int_0^{\pi/2} \cot\theta \, d\theta$

سوال ۸.۳۹۸: $\int_0^{\pi} \frac{\sin\theta \, d\theta}{\sqrt{\pi-\theta}}$

سوال ۸.۳۹۹: $\int_{-\pi/2}^{\pi/2} \frac{\cos\theta \, d\theta}{(\pi-2\theta)^{1/3}}$

سوال ۸.۴۰۰: $\int_0^{\ln 2} x^{-2} e^{-1/x} \, dx$

سوال ۸.۴۰۱: $\int_0^1 \frac{e^{-\sqrt{x}}}{\sqrt{x}} \, dx$

سوال ۸.۴۰۲: $\int_0^{\pi} \frac{dt}{\sqrt{t}+\sin t}$

سوال ۸.۴۰۳: $\int_0^1 \frac{dt}{t-\sin t}$ اشارہ: $t \geq 0$ کے لئے $t \geq \sin t$ ہو گا۔

سوال ۸.۴۰۴: $\int_0^2 \frac{dx}{1-x^2}$

سوال ۸.۴۰۵: $\int_0^2 \frac{dx}{1-x}$

سوال ۸.۴۰۶: $\int_{-1}^1 \ln|x| \, dx$

سوال ۸.۴۰۷: $\int_{-1}^1 -x \ln|x| \, dx$

سوال ۸.۴۰۸: $\int_1^{\infty} \frac{dx}{x^3+1}$

سوال ۸.۴۰۹: $\int_4^{\infty} \frac{dx}{\sqrt{x}-1}$

سوال ۸.۴۱۰: $\int_2^{\infty} \frac{dv}{\sqrt{v}-1}$

سوال ۸.۴۱۱: $\int_0^{\infty} \frac{d\theta}{1+e^{\theta}}$

سوال ۸.۴۱۲: $\int_0^{\infty} \frac{dx}{\sqrt{x^6+1}}$

سوال ۸.۴۱۳: $\int_2^{\infty} \frac{dx}{\sqrt{x^2-1}}$

سوال ۸.۴۱۴: $\int_1^{\infty} \frac{\sqrt{x+1}}{x^2} \, dx$

سوال ۸.۴۱۵: $\int_2^{\infty} \frac{x \, dx}{\sqrt{x^4-1}}$

۱۳۴۱۴ سوال ۸.۴۱۶: $\int_{\pi}^{\infty} \frac{2+\cos x}{x}\,\mathrm{d}x$

۱۳۴۱۵ سوال ۸.۴۱۷: $\int_{\pi}^{\infty} \frac{1+\sin x}{x^2}\,\mathrm{d}x$

۱۳۴۱۶ سوال ۸.۴۱۸: $\int_{4}^{\infty} \frac{2\,\mathrm{d}t}{t^{3/2}-1}$

۱۳۴۱۷ سوال ۸.۴۱۹: $\int_{2}^{\infty} \frac{\mathrm{d}x}{\ln x}$

۱۳۴۱۸ سوال ۸.۴۲۰: $\int_{1}^{\infty} \frac{e^x}{x}\,\mathrm{d}x$

۱۳۴۱۹ سوال ۸.۴۲۱: $\int_{e^e}^{\infty} \ln(\ln x)\,\mathrm{d}x$

۱۳۴۲۰ سوال ۸.۴۲۲: $\int_{1}^{\infty} \frac{\mathrm{d}x}{\sqrt{e^x-x}}$

۱۳۴۲۱ سوال ۸.۴۲۳: $\int_{1}^{\infty} \frac{\mathrm{d}x}{e^x-2^x}$

۱۳۴۲۲ سوال ۸.۴۲۴: $\int_{-\infty}^{\infty} \frac{\mathrm{d}x}{\sqrt{x^4+1}}$

۱۳۴۲۳ سوال ۸.۴۲۵: $\int_{-\infty}^{\infty} \frac{\mathrm{d}x}{e^x+e^{-x}}$

۱۳۴۲۴ **نظریہ اور مثالیں**

۱۳۴۲۵ سوال ۸.۴۲۶: لا متناہی دائرہ کار کے غیر مناسب تکمل کی قیمت کا اندازہ

۱۳۴۲۶ (ا) درج ذیل دکھائیں

$$\int_{3}^{\infty} e^{-3x}\,\mathrm{d}x = \frac{1}{3}e^{-9} < 0.000\,042$$

۱۳۴۲۷ جس کی وجہ سے $\int_{3}^{\infty} e^{-x^2}\,\mathrm{d}x \quad < \quad 0.000042$ ہو گا۔ آپ وجہ پیش کریں کہ کیوں $\int_{3}^{\infty} e^{-3x}\,\mathrm{d}x$ کی جگہ $\int_{3}^{\infty} e^{-x^2}\,\mathrm{d}x$ پر

۱۳۴۲۸ کرنے سے پیدا خلل $0.000\,042$ سے زیادہ نہیں ہو سکتا ہے۔

۱۳۴۲۹ (ب) تکمل $\int_{0}^{3} e^{-x^2}\,\mathrm{d}x$ کی قیمت اعدادی تراکیب سے حاصل کریں۔

۱۳۴۳۰ سوال ۸.۴۲۷: لا متناہی بگل یا رنگ کا لا متناہی ڈبہ

۱۳۴۳۱ ہم مثال ۸.۴۵ میں دیکھ چکے ہیں کہ $\int_{1}^{\infty} \frac{\mathrm{d}x}{x}$ منفرج ہے۔ یوں منحنی $y = \frac{1}{x},\ 1 \le x$ کو محور x کے گرد گھما کر حاصل سطح طواف کا سطح

$$\int_{1}^{\infty} 2\pi \frac{1}{x}\sqrt{1+\frac{1}{x^4}}\,\mathrm{d}x$$

۱۳۴۳۲ منفرج ہو گا۔ ہم دیکھتے ہیں کہ ہر متناہی قیمت $b > 1$ کے لئے

$$\int_{1}^{b} 2\pi \frac{1}{x}\sqrt{1+\frac{1}{x^4}}\,\mathrm{d}x > 2\pi \int_{1}^{b} \frac{\mathrm{d}x}{x}$$

ہو گا جبکہ ٹھوس جسم کا حجم

$$\int_1^\infty \pi\left(\frac{1}{x}\right)^2 \mathrm{d}x$$

مرتکز ہے۔(ا) اس حجم کی قیمت تلاش کریں۔(ب) بعض اوقات اس جسم طواف کو وہ ڈبہ کہتے ہیں جس میں اتنا رنگ نہیں بھرا جا سکتا ہے جو اسی ڈبے کا اندرون کو رنگ کر سکے۔ اس پر ایک لمحہ کے لئے غور کریں۔ متناہی مقدار کا رنگ کسی صورت لا متناہی سطح کو رنگ نہیں کر سکتا ہے۔ البتہ اگر ہم اس ڈبے کو رنگ سے بھریں (جو متناہی مقدار ہو گی) تب ڈبے کی اندرونی سطح (جو لا متناہی ہے) کے ہر نقطہ کو رنگ مس کرتا ہے۔ اس ظاہری تضاد کی وجہ پیش کریں۔

سوال ۸.۴۲۸: (ا) دکھائیں کہ $p > 1$ کے لئے

$$\int_1^\infty \frac{\mathrm{d}x}{x^p} = \frac{1}{p-1}$$

جبکہ $p < 1$ کے لئے تکمل لا متناہی ہے۔ ہے۔ مثال ۸.۴۵ میں $p = 1$ کے لئے تکمل کی قیمت دیکھی گئی۔

(ب) دکھائیں کہ $p < 1$ کے لئے

$$\int_0^1 \frac{\mathrm{d}x}{x^p} = \frac{1}{1-p}$$

جبکہ $p \geq 1$ کے لئے تکمل منفرج ہے۔

سوال ۸.۴۲۹: درج ذیل ہر ایک تکمل کے لئے p کی وہ قیمت تلاش کریں جس کے لئے تکمل مرتکز ہو۔

(الف) $\displaystyle\int_1^2 \frac{\mathrm{d}x}{x(\ln x)^p}$ (ب) $\displaystyle\int_2^\infty \frac{\mathrm{d}x}{x(\ln x)^p}$

سوال ۸.۴۳۰ تا سوال ۸.۴۳۳ ربع اول میں منحنی $y = e^{-x}$ اور محور x کے بیچ لا متناہی خطے کے بارے میں ہیں۔

سوال ۸.۴۳۰: اس خطے کا رقبہ تلاش کریں۔

سوال ۸.۴۳۱: اس خطے کا وسطانی مرکز تلاش کریں۔

سوال ۸.۴۳۲: اس خطے کو محور y کے گرد گھما کر جسم طواف پیدا کیا جاتا ہے۔ اس جسم کا حجم تلاش کریں۔

سوال ۸.۴۳۳: اس خطے کو محور x کے گرد گھما کر جسم طواف پیدا کیا جاتا ہے۔ اس جسم کو حجم تلاش کریں۔

سوال ۸.۴۳۴: منحنی $y = \sec x$ اور $y = \tan x$ کے بیچ $x = 0$ تا $x = \frac{\pi}{2}$ خطے کا رقبہ تلاش کریں۔

سوال ۸.۴۳۵: منحنی $y = \sec x$ اور $y = \tan x$ کے بیچ $x = 0$ تا $x = \frac{\pi}{2}$ خطے کو محور x کے گرد گھما کر جسم طواف پیدا کیا جاتا ہے۔ (ا) اس جسم کا حجم تلاش کریں۔ (ب) دکھائیں کہ اس جسم کے اندرونی اور بیرونی سطحوں کے رقبے لا متناہی ہیں۔

۱۳۲۵۱ سوال ۸.۴۳۶: $\int_{-\infty}^{\infty} f(x)\,\mathrm{d}x$ اور $\lim_{b\to\infty}\int_{-b}^{b} f(x)\,\mathrm{d}x$ کی قیمت مختلف ہو سکتی ہے۔ دکھائیں کہ

$$\int_{0}^{\infty} \frac{2x\,\mathrm{d}x}{x^2+1}$$

۱۳۲۵۲ منفرج ہے لہٰذا

$$\int_{-\infty}^{\infty} \frac{2x\,\mathrm{d}x}{x^2+1}$$

۱۳۲۵۳ بھی منفرج ہو گا۔ اس کے بعد درج ذیل دکھائیں۔

$$\lim_{b\to\infty}\int_{-b}^{b} \frac{2x\,\mathrm{d}x}{x^2+1} = 0$$

۱۳۲۵۴ سوال ۸.۴۳۷: درج ذیل دلیل پر غور کریں جس کے تحت $\ln 3 = \infty - \infty$ ہو گا۔ اس دلیل میں غلطی تلاش کریں۔ اپنے جواب کی وجہ پیش
۱۳۲۵۵ کریں۔

$$\begin{aligned}
\ln 3 = \ln 1 + \ln 3 &= \ln 1 - \ln\frac{1}{3}\\
&= \lim_{b\to\infty}\ln\left(\frac{b-2}{b}\right) - \ln\frac{1}{3}\\
&= \lim_{b\to\infty}\left[\ln\frac{x-2}{x}\right]_3^b\\
&= \lim_{b\to\infty}[\ln(x-2) - \ln x]_3^b\\
&= \lim_{b\to\infty}\int_3^b\left(\frac{1}{x-2} - \frac{1}{x}\right)\mathrm{d}x\\
&= \int_3^{\infty}\left(\frac{1}{x-2} - \frac{1}{x}\right)\mathrm{d}x\\
&= \int_3^{\infty}\frac{\mathrm{d}x}{x-2} - \int_3^{\infty}\frac{\mathrm{d}x}{x}\\
&= \lim_{b\to\infty}\Big[\ln(x-2)\Big]_3^b - \lim_{b\to\infty}\Big[\ln x\Big]_3^b\\
&= \infty - \infty
\end{aligned}$$

۱۳۲۵۶ سوال ۸.۴۳۸: اگر حقیقی اعداد کے ہر وقفہ پر $f(x)$ قابل تکمل ہو اور a اور b حقیقی اعداد ہوں جہاں $a < b$ ہے تب درج ذیل دکھائیں۔

۱۳۲۵۷ ا. $\int_{-\infty}^{a} f(x)\,\mathrm{d}x$ اور $\int_{a}^{\infty} f(x)\,\mathrm{d}x$ صرف اور صرف اس صورت مرتکز ہوں گے جب $\int_{-\infty}^{b} f(x)\,\mathrm{d}x$ اور
۱۳۲۵۸ $\int_{b}^{\infty} f(x)\,\mathrm{d}x$ دونوں مرتکز ہوں۔

۱۳۴۵۹ ب. اگر مستعمل تکمل مرتکز ہوں تب درج ذیل ہو گا۔

$$\int_{-\infty}^{a} f(x)\,\mathrm{d}x + \int_{a}^{\infty} f(x)\,\mathrm{d}x = \int_{-\infty}^{b} f(x)\,\mathrm{d}x + \int_{b}^{\infty} f(x)\,\mathrm{d}x$$

۱۳۴۶۰ سوال ۸.۴۳۹: (ا) دکھائیں کہ اگر f جفت ہو اور تکمل موجود ہوں تب درج ذیل ہو گا۔

$$\int_{-\infty}^{\infty} f(x)\,\mathrm{d}x = 2\int_{0}^{\infty} f(x)\,\mathrm{d}x$$

۱۳۴۶۱ (ب) دکھائیں کہ اگر f طاق ہو اور تکمل موجود ہو تب درج ذیل ہو گا۔

$$\int_{-\infty}^{\infty} f(x)\,\mathrm{d}x = 0$$

۱۳۴۶۲

۱۳۴۶۳ سوال ۸.۴۴۰ تا سوال ۸.۴۴۷ میں بلا واسطہ حل، تقابلی پرکھ اور سوال ۸.۴۳۹ کے نتائج بروئے کار لاتے ہوئے تکمل کی مرکوزیت یا انفراج معلوم کریں۔ اگر
۱۳۴۶۴ ایک سے زائد طریقہ قابل استعمال ہوں تب اپنی پسند کا طریقہ استعمال کریں۔

۱۳۴۶۵ سوال ۸.۴۴۰: $\int_{-\infty}^{\infty} \frac{\mathrm{d}x}{\sqrt{x^2+1}}$

۱۳۴۶۶ سوال ۸.۴۴۱: $\int_{-\infty}^{\infty} \frac{\mathrm{d}x}{\sqrt{x^6+1}}$

۱۳۴۶۷ سوال ۸.۴۴۲: $\int_{-\infty}^{\infty} \frac{\mathrm{d}x}{e^x+e^{-x}}$

۱۳۴۶۸ سوال ۸.۴۴۳: $\int_{-\infty}^{\infty} \frac{e^{-x}\,\mathrm{d}x}{x^2+1}$

۱۳۴۶۹ سوال ۸.۴۴۴: $\int_{-\infty}^{\infty} e^{-|x|}\,\mathrm{d}x$

۱۳۴۷۰ سوال ۸.۴۴۵: $\int_{-\infty}^{\infty} \frac{\mathrm{d}x}{(x+1)^2}$

۱۳۴۷۱ سوال ۸.۴۴۶: $\int_{-\infty}^{\infty} \frac{|\sin x|+|\cos x|}{|x|+1}\,\mathrm{d}x$ اشارہ: $|\sin\theta|+|\cos\theta| \geq \sin^2\theta+\cos^2\theta$

۱۳۴۷۲ سوال ۸.۴۴۷: $\int_{-\infty}^{\infty} \frac{x\,\mathrm{d}x}{(x^2+1)(x^2+2)}$

۱۳۴۷۳ **کمپیوٹر اور استعمال**

۱۳۴۷۴ سوال ۸.۴۴۸ تا سوال ۸.۴۵۱ میں کمپیوٹر استعمال کر کے p کی مختلف قیمتوں (بشمول غیر عدد صحیح) کے لئے تکمل پر غور کریں۔ p کی کن قیمتوں کے لئے تکمل
۱۳۴۷۵ مرتکز ہے؟ جب تکمل مرتکز ہو تب اس کی قیمت کتنی ہے؟ p کی مختلف قیمتوں کے لئے تکمل کو ترسیم کریں۔

۱۳۴۷۶ سوال ۸.۴۴۸: $\int_{0}^{e} x^p \ln x\,\mathrm{d}x$

۱۳۴۷۷ سوال ۸.۴۴۹: $\int_{e}^{\infty} x^p \ln x\,\mathrm{d}x$

۱۳۴۷۸ سوال ۸.۴۵۰: $\int_0^\infty x^p \ln x \, \mathrm{d}x$

۱۳۴۷۹ سوال ۸.۴۵۱: $\int_{-\infty}^\infty x^p \ln|x| \, \mathrm{d}x$

۱۳۴۸۰ سوال ۸.۴۵۲: درج ذیل جسے **سائن تکمل تفاعل**[11] کہتے ہیں بصریات میں اہم کردار ادا کرتا ہے۔

$$\mathrm{Si}(x) = \int_0^x \frac{\sin t}{t} \, \mathrm{d}t$$

۱۳۴۸۱ ا. متکمل $\frac{\sin t}{t}$ کو $t > 0$ کے لئے ترسیم کریں۔ Si ہر نقطہ پر بڑھتا کہ گھٹتا تفاعل ہے؟ کیا $x > 0$ کے لئے آپ کے خیال میں $\mathrm{Si}(x) =$
۱۳۴۸۲ 0 ہو سکتا ہے؟ وقفہ $0 \le x \le 25$ پر $\mathrm{Si}(x)$ ترسیم کر کے اپنے جواب کی تصدیق کریں۔

۱۳۴۸۳ ب. درج ذیل کی مرکوزیت پر غور کریں۔

$$\int_0^\infty \frac{\sin t}{t} \, \mathrm{d}t$$

۱۳۴۸۴ ارتکاز کی صورت میں اس کی قیمت تلاش کریں۔

۱۳۴۸۵ سوال ۸.۴۵۳: درج ذیل کو **تفاعل خلل**[12] کہتے ہیں۔

$$\mathrm{erf}(x) = \int_0^x \frac{2e^{-t^2}}{\sqrt{\pi}} \, \mathrm{d}t$$

۱۳۴۸۶ نظریہ احتمال اور شماریات میں یہ اہم کردار ادا کرتا ہے۔

۱۳۴۸۷ ا. وقفہ $0 \le x \le 25$ کے لئے تفاعل خلل کو ترسیم کریں۔

۱۳۴۸۸ ب. درج ذیل کی مرکوزیت پر غور کریں۔

$$\int_0^\infty \frac{2e^{-t^2}}{\sqrt{\pi}} \, \mathrm{d}t$$

۱۳۴۸۹ مرکوزیت کی صورت میں اس کی قیمت کیا نظر آتی ہے؟ آپ اپنی (اندازاً) قیمت کی تصدیق حصہ کے سوال ۱۶۳.۱۴ میں کر پائیں گے۔

۱۳۴۹۰ گیما تفاعل اور کلیہ سٹرلنگ

۱۳۴۹۱ یولر کا **گیما تفاعل**[13] $\Gamma(x)$ (جس کو x کا گیما کہتے ہیں) تکمل استعمال کرتے ہوئے عدد ضربیہ تفاعل[14] کو منفی اعداد اور غیر عدد صحیح اعداد تک وسعت دیتا
۱۳۴۹۲ ہے۔ گیما تفاعل کا کلیہ درج ذیل ہے۔

$$\Gamma(x) = \int_0^\infty t^{x-1} e^{-1} \, \mathrm{d}t, \quad x > 0$$

---

[11] sineintegralfunction
[12] errorfunction
[13] Gammafunction
[14] factorialfunction

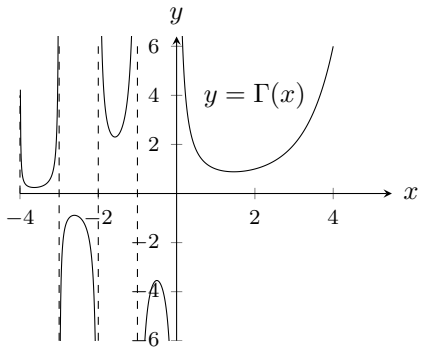

شکل ۸.۲۶: $\Gamma(x)$ متغیر x کا استراری تفاعل ہے جس کی قیمت ہر مثبت عدد صحیح $n+1$ پر $n!$ ہے۔ Γ کا تعریفی تکمل صرف $x > 0$ کے لئے درست ہے لیکن ہم $\Gamma(x) = \frac{\Gamma(x+1)}{x}$ (سوال ۸.۴۵۴ دیکھیں) کے استعمال سے منفی x کے لئے Γ کو وسعت دے سکتے ہیں۔

ہر مثبت عدد صحیح x کے لئے $t^{x-1}e^{-t}$ کا t کے لحاظ سے 0 تا ∞ تکمل عدد $\Gamma(x)$ ہوگا۔ شکل ۸.۲۶ میں مبدا کے قریب Γ کی ترسیم دکھائی گئی ہے۔

سوال ۸.۴۵۴: غیر منفی عدد صحیح کے لئے $\Gamma(n+1) = n!$ ہوگا

ا. دکھائیں $\Gamma(1) = 1$

ب. اس کے بعد تکمل بالحصص استعمال کرتے ہوئے $\Gamma(x+1) = x\Gamma(x)$ ثابت کریں۔ یوں درج ذیل حاصل ہوں گے۔

$$\begin{aligned}
\Gamma(2) &= 1\Gamma(1) = 1\\
\Gamma(3) &= 2\Gamma(2) = 2\\
\Gamma(3) &= 3\Gamma(3) = 6\\
&\vdots\\
\Gamma(n+1) &= n\Gamma(n) = n!
\end{aligned}$$

ج. الکراجی ماخوذ استعمال کرتے ہوئے ہر غیر منفی عدد صحیح n کے لئے $\Gamma(n+1) = n\Gamma(n) = n!$ کی تصدیق کریں۔

سوال ۸.۴۵۵: کلیہ سٹرلنگ

اسکاچی ریاضی دان جیمس سٹرلنگ [1692-1770] نے درج ذیل کلیہ اخذ کیا

$$\lim_{x\to\infty} \left(\frac{e}{x}\right)^x \sqrt{\frac{x}{2\pi}}\Gamma(x) = 1$$

۱۳۵۰۲ لہٰذا x کی بڑی قیمتوں کے لئے

$$\Gamma(x) = (\tfrac{x}{e})^x \sqrt{\tfrac{2\pi}{x}}(1+\epsilon(x)), \qquad \begin{array}{c} x \to \infty \\ \epsilon(x) \to 0 \end{array} \tag{۷}$$

۱۳۵۰۳ ہوگا۔اس میں $\epsilon(x)$ رد کرنے سے درج ذیل کلیہ حاصل ہوتا ہے۔

$$\Gamma(x) \approx (\tfrac{x}{e})^x \sqrt{\tfrac{2\pi}{x}} \qquad \text{کلیہ سٹرلنگ} \tag{۸}$$

۱۳۵۰۴ ا. مساوات ۸ اور $n! = n\Gamma(n)$ استعمال کرتے ہوئے درج ذیل کی تصدیق کریں۔

$$n! \approx (\tfrac{n}{e})^n \sqrt{2\pi n} \qquad \text{تخمین سٹرلنگ} \tag{۹}$$

۱۳۵۰۵ جیسا آپ حصہ ۹.۲ کے سوال ۹.۱۳۶ میں دیکھیں گے مساوات ۹ سے درج ذیل تخمین حاصل ہوتی ہے۔

$$\sqrt[n]{n!} \approx \frac{n}{e} \tag{۱۰}$$

۱۳۵۰۶ ب. $n = 10, 20, 30, \cdots$ لیتے ہوئے $n!$ کے لئے تخمین سٹرلنگ کے نتائج کا کیلکولیٹر سے حاصل نتائج کے ساتھ موازنہ کریں۔

۱۳۵۰۷ ج. مساوات ۷ کی بہتر صورت

$$\Gamma(x) = (\tfrac{x}{e})^x \sqrt{\tfrac{2\pi}{x}} e^{1/(12x)}(1+\epsilon(x))$$

۱۳۵۰۸ یا

$$\Gamma(x) = (\tfrac{n}{e})^n \sqrt{2n\pi} e^{1/(12n)} \tag{۱۱}$$

۱۳۵۰۹ ہے۔کیلکولیٹر، کلیہ سٹرلنگ اور مساوات ۱۱ سے $10!$ کے نتائج کا ایک دوسرے کے ساتھ موازنہ کریں۔

۱۳۵۱۰

۱۳۵۱۱

باب ۹

لامتناہی تسلسل

اس باب میں ہم ایک حیران کن کلیہ اخذ کرتے ہیں جس کی مدد سے بہت سارے تفاعل کو ''لامتناہی کثیر رکنی'' کی صورت میں لکھنا ممکن ہو گا اور ساتھ ہی کثیر رکنی کے ارکان حذف کر کے کثیر رکنی کو متناہی بنانے سے پیدا خلل بھی جان پائیں گے۔ ان تسلسل کو طاقتی تسلسل کہتے ہیں۔ قابل تفرق تفاعل کو تخمینی طور پر کثیر رکنی سے ظاہر کرنے میں مدد دینے کے علاوہ طاقتی تسلسل دیگر مواقع پر بھی کارآمد ثابت ہوتے ہیں۔ غیر بنیادی تکمل کی قیمت کے حصول کے علاوہ حراری توانائی کی منتقلی، ارتعاش، کیمیائی نفوذ اور ترسیل اشارات کے تفرقی مساوات کے حل میں یہ موثر کردار ادا کرتے ہیں۔ آپ یہاں وہ ان تفاعل کے بارے میں سیکھ پائیں گے جو سائن اور انجینئری میں بہت زیادہ استعمال ہوتے ہیں۔

۹.۱ اعداد کی ترتیب کی حد

غیر رسمی طور پر ترتیب سے مراد مرتب چیزوں کا سلسلہ ہے۔ اس باب میں ہمیں اعداد کی ترتیب سے غرض ہو گا۔ ترکیب نیوٹن سے حاصل اعداد کی ترتیب $x_0, x_1, \cdots, x_n, \cdots$ یا (ہلکے ون کوچ کے) برفانی روئی کے کثیر الاضلاع کی ترتیب $c_1, c_2, \cdots, c_n, \cdots$ ہم دیکھ چکے ہیں۔ ان ترتیبات کی حد پائی جاتی ہے، البتہ بہت سارے اہم ترتیبات کی حد نہیں پائی جاتی۔

تعریف اور علامتیت

ہم 3 کے ہر عدد صحیح مضرب کو ایک مقام مختص کر کے ایک فہرست بنا سکتے ہیں:

دائرہ کار	1	2	3	$\cdots$	n	$\cdots$
سعت	3	6	9		$3n$	

پہلا عدد 3، دوسرا 6، تیسرا 9، وغیرہ، وغیرہ ہیں۔ مختص کرنے کا عمل ایک تفاعل ہے جو n ویں مقام کو $3n$ مختص کرتا ہے۔ ترتیب کی بناوٹ کا بنیادی تصور یہی ہے۔ ایک تفاعل ہمیں بتاتا ہے کہ کس مقام پر کونسا عدد ہو گا۔

۱۳۵۲۷ تعریف: ایک تفاعل جس کا دائرہ کار کسی عدد صحیح n_0 کے برابر یا اس سے بڑے عدد صحیح پر مشتمل اعداد کا سلسلہ ہو **لامتناہی ترتیب**[1] (یا **ترتیب**[2])
۱۳۵۲۸ کہلاتا ہے۔

۱۳۵۲۹ □

۱۳۵۳۰ عموماً $n_0 = 1$ ہوتا ہے اور ترتیب کا دائرہ کار مثبت اعداد صحیح پر مشتمل ہو گا۔ البتہ بعض اوقات ہم تسلسل کو کسی دوسرے عدد صحیح سے شروع کرنا چاہتے
۱۳۵۳۱ ہیں۔ ترکیب نیوٹن میں ہم $n_0 = 0$ لیتے ہیں۔ اگر ہم n اضلاع پر مشتمل کثیر الاضلاع کی ترتیب کی بات کریں تب ہم $n_0 = 3$ منتخب کرنا چاہیں
۱۳۵۳۲ گے۔

۱۳۵۳۳ ترتیب کی تعریف کسی بھی تفاعل کی طرح کی جاتی ہے (مثال ۹.۱ اور شکل ۹.۱ تا شکل ۹.۶)، مثلاً:

$$a(n) = \sqrt{n}, \quad a(n) = (-1)^{n+1}\frac{1}{n}, \quad a(n) = \frac{n-1}{n}$$

۱۳۵۳۴ یہ ظاہر کرنے کی خاطر کہ دائرہ کار عدد صحیح ہے، ہم حرف n استعمال کرتے ہیں نا کہ دیگر غیر تابع متغیر کے لئے مستعمل حروف x ، y ، z ، t ، وغیرہ۔
۱۳۵۳۵ مذکورہ بالا کی طرح تعریفی قاعدہ میں کلیات عموماً مثبت عدد صحیح سے زیادہ بڑے دائرہ کار کے لئے درست ہوتے ہیں۔ جیسا ہم دیکھیں گے یہ بعض اوقات سود مند
۱۳۵۳۶ ثابت ہوتا ہے۔

۱۳۵۳۷ عدد $a(n)$ ترتیب کا n **واں جزو** یا اشاریہ n والا جزو ہو گا۔ اگر $a(n) = \frac{n-1}{n}$ ہو تب درج ذیل ہو گا۔

پہلا جزو	دوسرا جزو	تیسرا جزو		nواں جزو
$a(1) = 0$	$a(2) = \frac{1}{2}$	$a(3) = \frac{2}{3}$	$\cdots$	$a(n) = \frac{n-1}{n}$

۱۳۵۳۸ اشاریہ علامت استعمال کرتے ہوئے ہم $a(n)$ کو a_n لکھتے ہیں۔ اشاریہ علامتی روپ میں یہی ترتیب درج ذیل لکھی جائے گی۔

پہلا جزو	دوسرا جزو	تیسرا جزو		nواں جزو
$a_1 = 0$	$a_2 = \frac{1}{2}$	$a_3 = \frac{2}{3}$	$\cdots$	$a_n = \frac{n-1}{n}$

۱۳۵۳۹ ترتیب پر تبصرہ کرتے ہوئے ہم عموماً n ویں جزو کے کلیہ کے ساتھ ساتھ چند ابتدائی اجزاء لکھتے ہیں۔

---

[1] infinitesequence
[2] sequence

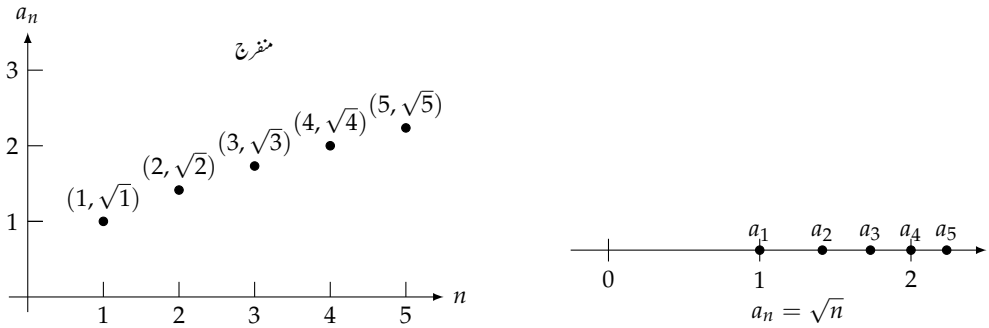

شکل ۹.۱: جزو a_n آخر کار ہر عدد صحیح سے بڑھتا ہے لہٰذا ترتیب $\{a_n\}$ منفرج ہے۔

۱۳۵۴۰ **مثال ۹.۱:**

جس ترتیب کا تعریفی کلیہ درج ذیل ہو	اس کے لئے ہم درج ذیل لکھتے ہیں
$a_n = \sqrt{n}$	$1, \sqrt{2}, \sqrt{3}, \sqrt{4}, \cdots, \sqrt{n}, \cdots$
$a_n = \frac{1}{n}$	$1, \frac{1}{2}, \frac{1}{3}, \cdots, \frac{1}{n}, \cdots$
$a_n = (-1)^{n+1}\frac{1}{n}$	$1, -\frac{1}{2}, \frac{1}{3}, -\frac{1}{4}, \cdots (-1)^{n+1}\frac{1}{n}, \cdots$
$a_n = \frac{n-1}{n}$	$0, \frac{1}{2}, \frac{2}{3}, \frac{3}{4}, \cdots, \frac{n-1}{n}, \cdots$
$a_n = (-1)^{n+1}\left(\frac{n-1}{n}\right)$	$0, -\frac{1}{2}, \frac{2}{3}, -\frac{3}{4}, \cdots, (-1)^{n+1}\left(\frac{n-1}{n}\right), \cdots$
$a_n = 3$	$3, 3, 3, \cdots, 3, \cdots$

۱۳۵۴۱ ان تمام ترتیبات کو دو مختلف انداز میں شکل ۹.۱ تا شکل ۹.۶ میں دکھایا گیا ہے۔ □

۱۳۵۴۲ **علامتیت**

۱۳۵۴۳ جس ترتیب کا n واں جزو a_n ہو اس ترتیب کو ہم $\{a_n\}$ سے ظاہر کرتے ہیں جو ترتیب a اشاریہ n پڑھا جاتا ہے۔ مثال ۹.۱ میں دوسری ترتیب

۱۳۵۴۴ $\{\frac{1}{n}\}$ ہے جو ترتیب ایک بٹہ تین پڑھا جاتا ہے۔ آخری ترتیب $\{3\}$ ہے جو مستقل ترتیب 3 کہلائے گی۔

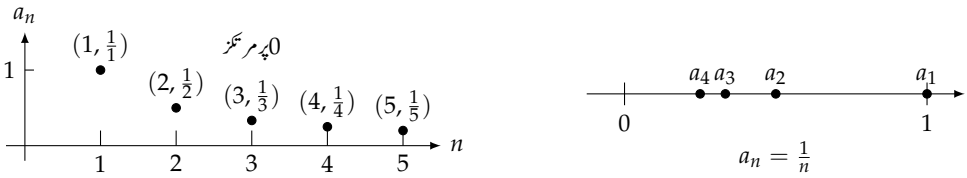

شکل ۹.۲: جزو $a_n = \frac{1}{n}$ بتدریج n بڑھنے سے گھٹتے ہوئے 0 کے قریب پہنچتے ہیں لہٰذا ترتیب $\{a_n\}$ صفر کو مرتکز ہے۔

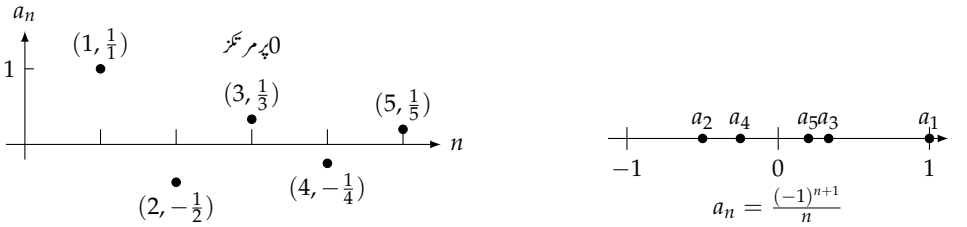

شکل ۹.۳: جزو $\frac{(-1)^{n+1}}{n}$ کی علامت ہر مرتبہ تبدیل ہوتی ہے لیکن اس کی قیمت 0 پر مرتکز ہے۔

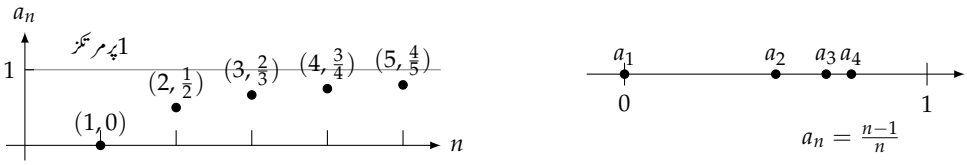

شکل ۹.۴: جیسے جیسے n بڑھتا ہے جزو $a_n = \frac{n-1}{n}$ بتدریج 1 تک پہنچتا ہے لہٰذا ترتیب $\{a_n\}$ مرتکز ہے 1 پر۔

3 -

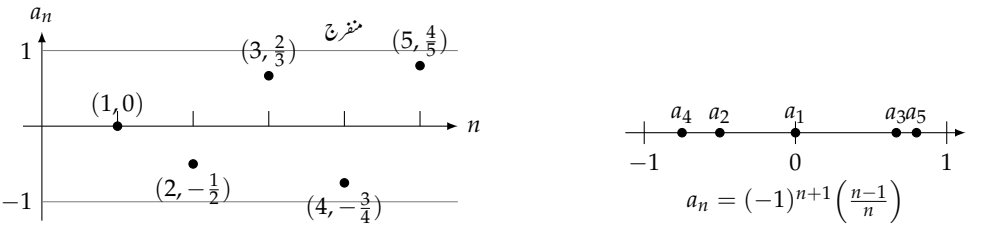

شکل ۹.۵: جزو $a_n = (-1)^{n+1}[\frac{n-1}{n}]$ کی علامت ہر قدم پر تبدیل ہوتی ہے۔ مثبت اجزاء 1 کو پہنچتے ہیں جبکہ منفی اجزاء -1 کو پہنچتے ہیں لہٰذا ترتیب $\{a_n\}$ منفرج ہے۔

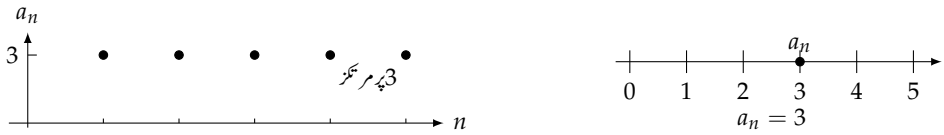

شکل ۹.۶: مستقل اجزاء $a_n = 3$ کی قیمت 3 ہی رہتی ہے لہٰذا ترتیب $\{a_n\}$ کی قیمت 3 پر مرتکز ہے۔

۱۳۵۴۵ ارتکاز اور انفراج

۱۳۵۴۶ آپ نے شکل ۹.۱ تا شکل ۹.۶ میں دیکھا کہ مثال ۹.۱ میں دیے گئے ترتیبات ایک سا رویہ نہیں رکھتے ہیں۔ متغیر n کی قیمت بڑھانے سے ترتیبات $\{\frac{1}{n}\}$ ،
۱۳۵۴۷ $\{\frac{(-1)^{n+1}}{n}\}$ اور $\{\frac{n-1}{n}\}$ میں ہر ایک کی قیمت کسی ایک منفرد تحدیدی قیمت تک پہنچتی ہے جبکہ ترتیب $\{3\}$ ابتدا سے تحدیدی قیمت پر ہے۔ اس
۱۳۵۴۸ کے برعکس $\{(-1)^{n+1}\frac{(n-1)}{n}\}$ کے اجزاء دو مختلف قیمتوں، -1 اور 1 ، پر جمع ہوتے ہیں جبکہ $\{\sqrt{n}\}$ کے اجزاء بتدریج بڑھتے جاتے
۱۳۵۴۹ ہیں۔

۱۳۵۵۰ ان ترتیبات میں امتیاز کرنے کی خاطر جو n بڑھانے سے کسی ایک منفرد قیمت L تک پہنچتی ہیں اور جو کسی منفرد قیمت تک نہیں پہنچتی ہیں، ہم ان ترتیبات کو جو
۱۳۵۵۱ n بڑھانے سے کسی ایک منفرد قیمت L تک پہنچتی ہو کو مرتکز کہتے ہیں۔ ارتکاز کی باضابطہ تعریف درج ذیل ہے۔

۱۳۵۵۲ تعریف: اگر ہر مثبت عدد ϵ کے لئے ایسا مطابقتی عدد صحیح N پایا جاتا ہو کہ ہر n کے لئے

$$n > N, \quad \Longrightarrow \quad |a_n - L| < \epsilon$$

۱۳۵۵۳ ہو تب ترتیب $\{a_n\}$ عدد L پر **مرتکز**[۳] ہو گی۔ اگر ایسا کوئی عدد L موجود نہ ہو تب ہم کہتے ہیں کہ $\{a_n\}$ **منفرج**[۴] ہے۔

۱۳۵۵۴ اگر $\{a_n\}$ عدد L پر مرتکز ہو تب ہم $\lim_{n\to\infty} a_n = L$ یا مختصراً $a_n \to L$ لکھتے ہیں اور L کو اس ترتیب کا **حد**[۵] کہتے ہیں (شکل ۹.۷)۔

۱۳۵۵۵ □

۱۳۵۵۶ مثال ۹.۲: تعریف کی پرکھ
۱۳۵۵۷ درج ذیل دکھائیں۔

$$\text{(الف)} \quad \lim_{n\to\infty} \frac{1}{n} = 0$$

$$\text{(ب)} \quad \lim_{n\to\infty} k = k \qquad (k \text{ مستقل})$$

۱۳۵۵۸ حل: (الف) فرض کریں ہمیں $\epsilon > 0$ دیا گیا ہے۔ ہم نے دکھانا ہو گا کہ ایک ایسا عدد صحیح N پایا جاتا ہے کہ ہر n کے لئے

$$n > N \quad \Longrightarrow \quad \left|\frac{1}{n} - 0\right| < \epsilon$$

---

[۳] convergent
[۴] divergent
[۵] limit

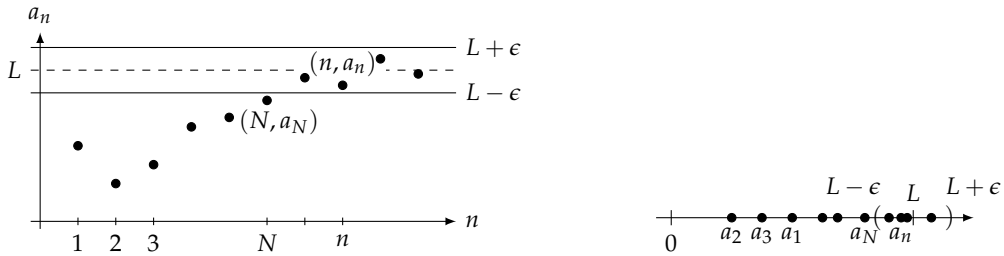

شکل ۹.۷: اگر نقاط (n, a_n) کی لکیر $y = L$ افقی متقارب ہو تب $a_n \to L$ ہو گا۔ اس شکل میں a_N کے بعد تمام a_n کا خط L سے فاصلہ ϵ سے کم ہے۔

ہو گا۔ یہ اس صورت ممکن ہو گا اگر $\frac{1}{n} < \epsilon$ یا $n > \frac{1}{\epsilon}$ ہو۔ اگر $\frac{1}{\epsilon}$ سے N کوئی بھی بڑا عدد صحیح ہو تب کسی بھی $n > N$ کے لئے درج بالا درست ہو گا۔ یوں ثابت ہوا کہ $\lim_{n\to\infty}(1/n) = 0$ ہے۔

(ب) فرض کریں ہمیں $\epsilon > 0$ دیا گیا ہے۔ ہم نے دکھانا ہو گا کہ ایک ایسا عدد صحیح N پایا جاتا ہے کہ ہر n کے لئے

$$n > N \quad \Longrightarrow \quad |k - k| < \epsilon$$

ہو گا۔ چونکہ $k - k = 0$ ہوتا ہے لہٰذا درج بالا کسی بھی مثبت عدد صحیح N کے لئے درست ہو گا۔ یوں ثابت ہوا کہ کسی بھی مستقل k کے لئے $\lim_{n\to\infty} k = k$ ہو گا۔ □

مثال ۹.۳: دکھائیں کہ $\{(-1)^{n+1}[\frac{n-1}{n}]\}$ ہے۔

حل: ہم مثبت عدد ϵ کو 1 سے کم چنتے ہیں تاکہ شکل ۹.۸ میں $y = -1$ اور $y = 1$ پر پٹیاں ایک دوسرے کو نہ ڈھانپیں۔ اگر کسی مخصوص N سے کسی بھی بڑے n کے لئے شکل ۹.۸ میں نقطے بالائی پٹی میں پائے جاتے ہوں تب یہ ترتیب 1 پر مرتکز ہو گی۔ حقیقت میں جیسا ہی کوئی پہلا نقطہ (n, a_n) بالائی پٹی کے اندر آتا ہے، اس کے بعد $(n+1, a_{n+1})$ سے شروع کرتے ہوئے ہر متبادل نقطہ نچلی پٹی میں پایا جاتا ہے۔ یوں ترتیب کسی صورت 1 پر مرتکز نہیں ہو سکتی ہے۔ اسی طرح یہ ترتیب -1 پر بھی مرتکز نہیں ہو سکتی ہے۔ ساتھ ہی ساتھ چونکہ ترتیب کے اجزاء -1 یا 1 کے قریب تر ہوتے جاتے ہیں لہٰذا یہ کسی دوسرے نقطے کے قریب نہیں ہو سکتے ہیں لہٰذا یہ ترتیب منفرج ہے۔ □

ترتیب $\{(-1)^{n+1}[\frac{n-1}{n}]\}$ کا رویہ $\{\sqrt{n}\}$ کے رویے سے مختلف ہے۔ ترتیب $\{\sqrt{n}\}$ کے منفرج ہونے کی وجہ یہ ہے کہ یہ ہر حقیقی عدد L سے تجاوز کرتا ہے۔ اس رویے کو ہم

$$\lim_{n\to\infty} \sqrt{n} = \infty$$

لکھتے ہیں۔ لامتناہی حد سے یہاں ہمارا ہرگز یہ مطلب نہیں ہے کہ n بڑھانے سے a_n اور لامتناہی کے بیچ فرق کم ہوتا ہے۔ کہنے کا مطلب صرف اتنا ہے کہ n بڑھانے سے a_n بہت بڑا ہو جاتا ہے۔



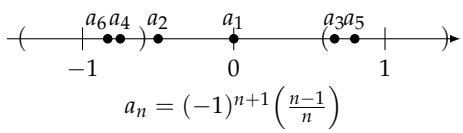

شکل ۹.۸: تسلسل $\{(-1)^{n+1}[\frac{n-1}{n}]\}$ منفرج ہے (مثال ۹.۳)

تکراری تعریف

اب تک ہم n سے بلاواسطہ a_n تلاش کرتے آرہے ہیں اگرچہ ترتیب کی عموماً تکراری تعریف پیش کی جاتی ہے جہاں

ا. ابتدائی جزو یا اجزاء کی قیمتیں دی جاتی ہیں اور

ب. **کلیہ توالی**[۶] سے ہر جزو کو گزشتہ اجزاء کی قیمتوں سے حاصل کیا جاتا ہے۔

کمپیوٹر پروگرام اور تفرقی مساوات کے اعدادی حل کے طریقوں میں توالی کلیات عموماً پائے جاتے ہیں۔

مثال ۹.۴: تواتر سے ترتیب کی بناوٹ

ا. $a_1 = 1$ اور $a_n = a_{n-1} + 1$ کا فقرہ مثبت اعداد کی ترتیب $1, 2, 3, \cdots, n, \cdots$ کی تعریف پیش کرتا ہے۔ یوں $a_1 = 1$ لیتے ہوئے $a_2 = a_1 + 1 = 1 + 1 = 2$ ، $a_3 = a_2 + 1 = 2 + 1 = 3$ ، وغیرہ، ہوگا۔

ب. a_1 اور $a_n = n \cdot a_{n-1}$ کا فقرہ **اعداد ضربیہ**[۷] کی ترتیب $1, 2, 6, 24, \cdots, n!, \cdots$ کی تعریف پیش کرتا ہے۔ یوں $a_1 = 1$ لیتے ہوئے $a_2 = 2 \cdot a_1 = 2$ ، $a_3 = 3 \cdot a_2 = 6$ ، $a_4 = 4 \cdot a_3 = 24$ وغیرہ، ہوگا۔

ج. $a_1 = 1$ ، $a_2 = 1$ اور $a_{n+1} = a_n + a_{n-1}$ کا فقرہ **فبونیکی اعداد**[۸] کی ترتیب $1, 1, 2, 3, 5, \cdots$ کی تعریف پیش کرتا ہے۔ یوں $a_1 = 1$ اور $a_2 = 1$ لیتے ہوئے $a_3 = a_2 + a_1 = 1 + 1 = 2$ ، $a_4 = a_3 + a_2 = 2 + 1 = 3$ ، $a_5 = a_4 + a_3 = 3 + 2 = 5$ ، وغیرہ، ہوگا۔

د. جیسا ہم ترکیب نیوٹن کی اطلاق سے جانتے ہیں کہ $x_0 = 1$ اور $x_{n+1} = x_n - [\frac{\sin x_n - x_n^2}{\cos x_n - 2x_n}]$ کا فقرہ ایسی ترتیب کی تعریف پیش کرتا ہے جو مساوات $\sin x - x^2 = 0$ کے حل پر مرتکز ہوتی ہے۔

□

---

[۶] recursionformula
[۷] factorials
[۸] Fibonaccinumbers

جدول ۹.۱: قوت نما سے فبونیکی اعداد زیادہ تیزی سے بڑھتے ہیں۔

$n!$	e^n	n
1	3	1
120	148	5
3 628 800	22 026	10
2.4×10^{18}	4.9×10^8	20

۱۳۵۹۱ علامت $n!$ (جس کو n کا **ضربیہ عدد** کہتے ہیں) سے مراد 1 سے n تک اعداد صحیح کا حاصل ضرب $1 \cdot 2 \cdot 3 \cdot \cdots \cdot n$ ہے۔ آپ دیکھ سکتے ہیں کہ
۱۳۵۹۲ $(n+1)! = (n+1) \cdot n!$ ہو گا لہٰذا

$$4! = 1 \cdot 2 \cdot 2 \cdot 3 \cdot 4 = 24,$$
$$5! = 1 \cdot 2 \cdot 3 \cdot 4 \cdot 5 = 5 \cdot 4! = 120$$

۱۳۵۹۳ ہوں گے۔ ہم $0!$ کی تعریف 1 لیتے ہیں۔

۱۳۵۹۴ جیسا جدول ۹.۱ میں دکھایا گیا ہے قوت نما سے بھی زیادہ تیزی سے فبونیکی اعداد بڑھتے ہیں۔

۱۳۵۹۵ ذیلی ترتیبات

۱۳۵۹۶ اگر ایک ترتیب کے اجزاء اسی ترتیب سے دوسری ترتیب میں پائے جاتے ہوں تب ہم پہلی ترتیب کو دوسری ترتیب کی **ذیلی ترتیب**[9] کہتے ہیں۔

۱۳۵۹۷ مثال ۹.۵: مثبت اعداد صحیح کی ترتیب کی ذیلی ترتیبات
۱۳۵۹۸

۱۳۵۹۹ ا. جفت اعداد صحیح کی ذیلی ترتیب $2, 4, 6, \cdots, 2n, \cdots$

۱۳۶۰۰ ب. طاق اعداد صحیح کی ذیلی ترتیب $1, 3, 5, \cdots 2n-1, \cdots$

۱۳۶۰۱ ج. اعداد مفرد کی ذیلی ترتیب $2, 3, 5, 7, 11, \cdots$

۱۳۶۰۲ □

۱۳۶۰۳ ذیلی ترتیبات کی اہمیت کے دو وجوہات ہیں۔

۱۳۶۰۴ ا. اگر تسلسل $\{a_n\}$ مستقل L کو مرتکز ہو تب اس کے تمام ذیلی ترتیبات بھی L پر مرکوز ہوں گی۔ اگر ہم جانتے ہوں کہ ایک تسلسل مرتکز ہے تب
۱۳۶۰۵ اس کے کسی مخصوص ذیلی تسلسل سے حد کی تلاش یا اس کا تخمینہ لگانا زیادہ آسان ثابت ہو سکتا ہے۔

---

[9] subsequence

ب. اگر $\{a_n\}$ کا کوئی بھی ذیلی تسلسل منفرج ہو یا اس کے کسی دو ذیلی ترتیبات کی حدیں ایک دوسرے سے مختلف ہوں تب $\{a_n\}$ منفرج ہو گا۔ مثال کے طور پر تسلسل $\{(-1)^n\}$ منفرج ہو گا چونکہ طاق اجزاء کی ذیلی تسلسل $-1, -1, -1, \cdots$ کی حد -1 ہے جبکہ جفت اجزاء کی ذیلی تسلسل $1, 1, 1, \cdots$ کی حد 1 ہے جو ایک مختلف حد ہے۔

ذیلی تسلسل کی مدد سے ارتکاز کو ایک نئی نظر سے دیکھا جا سکتا ہے۔ کسی اشاریہ N سے آگے تمام اجزاء کو تسلسل کی **دُم**[10] کہتے ہیں جو ایک ذیلی تسلسل ہو گی۔ یوں سلسلہ $\{a_n | n \geq N\}$ میں سے کسی ایک کو دُم کہا جا سکتا ہے۔ یوں $a_n \to L$ کی جگہ ہم کہہ سکتے ہیں کہ L کے ارد گرد ϵ وقفہ میں تسلسل کی دُم پائی جائے گی۔

کسی بھی تسلسل کی ارتکاز یا انفراج کا تسلسل کی ابتدا کے ساتھ کوئی تعلق نہیں پایا جاتا ہے۔ تسلسل کی ارتکاز یا انفراج صرف تسلسل کی دُم پر منحصر ہو گی۔

محدود غیر گھٹتا تسلسل

تعریف: ایسا تسلسل جو تمام n کے لئے $a_n \leq a_{n+1}$ خاصیت رکھتا ہو **غیر گھٹتا تسلسل**[11] کہلاتا ہے۔

□

مثال ۹.۶: غیر گھٹتا تسلسل

ا. قدرتی اعداد کا تسلسل $1, 2, 3, \cdots, n, \cdots$

ب. تسلسل $\frac{1}{2}, \frac{2}{3}, \frac{3}{4}, \cdots, \frac{n}{n+1}, \cdots$

ج. مستقل تسلسل $\{3\}$

□

غیر گھٹتا تسلسل کی دو قسمیں ہیں۔ پہلی قسم کے اجزاء آخر کار ہر متناہی حد بندی سے بڑھ جاتے ہیں جبکہ دوسری قسم کے اجزاء کسی مخصوص حد بندی سے تجاوز نہیں کرتے ہیں۔

تعریف: اگر ایک ایسا عدد M موجود ہو کہ تمام n کے لئے $a_n \leq M$ ہوں تب تسلسل $\{a_n\}$ کی **بالائی حد بندی**[12] M ہو گی۔ ہم کہتے ہیں کہ تسلسل $\{a_n\}$ **اوپر سے محدود**[13] ہے۔ اگر M سے کم کوئی بھی عدد، $\{a_n\}$ کی بالائی حد بندی نہ ہو، تب M کو $\{a_n\}$ کی **کم سے کم بالائی حد بندی**[14] کہتے ہیں۔

---

[10] tail
[11] nondecreasingsequence
[12] upperbound
[13] boundedfromabove
[14] leastupperbound

□

مثال ۹.۷:

ا. تسلسل $1, 2, 3, \cdots, n, \cdots$ کی کوئی بالائی حد بندی نہیں پائی جاتی ہے۔

ب. تسلسل $\frac{1}{2}, \frac{2}{3}, \frac{3}{4}, \cdots, \frac{n}{n+1}, \cdots$ اوپر سے محدود ہے اور اس کی بالائی حد بندی $M = 1$ ہے۔ کوئی بھی عدد جو 1 سے چھوٹا ہو اس تسلسل کی بالائی حد بندی نہیں ہو سکتی ہے لہٰذا اس تسلسل کی کم سے کم بالائی حد بندی 1 ہے (سوال ۹.۴۷)۔

□

ایسے غیر گھٹتا تسلسل کی کم سے کم بالائی حد بندی ضرور پایا جائے گا جو اوپر سے محدود ہو۔ یہ حقیقت، جس کو ہم یہاں ثابت نہیں کریں گے، حقیقی اعداد کی کملیت کی خاصیت کی وجہ سے ہے۔ البتہ ہم یہ ثابت کرتے ہیں کہ اگر L کم سے کم بالائی حد بندی ہو تب تسلسل L پر مرتکز ہو گا۔

فرض کریں ہم $(1, s_1), (2, s_2), \cdots, (n, s_n), \cdots$ نقطوں کو xy مستوی میں ترسیم کرتے ہیں۔ اگر اس تسلسل کی بالائی حد بندی M ہو تب یہ تمام نقطے لکیر $y = M$ کے نیچے پائے جائیں گے (شکل ۹.۹)۔ لکیر $y = L$ سب سے نچلی ایسی لکیر ہو گی۔ نقاط (n, s_n) میں سے کوئی بھی اس لکیر سے اوپر نہیں ہو گا اگرچہ اس سے نیچے لکیر $y = L - \epsilon$ سے چند نقطے ضرور اوپر ہوں گے، جہاں ϵ مثبت عدد ہے۔ یہ ترتیب درج ذیل وجوہات کی وجہ سے L پر مرتکز ہو گی:

ا. تمام n کے لئے $s_n \leq L$ ہو گا اور

ب. کسی بھی دیے گئے عدد $\epsilon > 0$ کے لئے کم سے کم ایک ایسا عدد N موجود ہو گا جس کے لئے $s - N > L - \epsilon$ ہو گا۔

مزید $\{s_n\}$ غیر گھٹتا ہے لہٰذا

$$s_n \geq s_N > L - \epsilon \qquad \text{تمام } n \geq N \text{ کے لئے}$$

ہو گا۔ یوں N کے بعد تمام اعداد s_n کا L سے فاصلہ ϵ سے کم ہو گا۔ یہی وہ شرط ہے جس کی وجہ سے تسلسل s_n کی حد L ہو گی۔

غیر گھٹتے ترتیبات کے حقائق کو درج ذیل مسئلہ یکجا کرتا ہے۔ غیر بڑھتے ترتیبات کے لئے بھی اسی طرح کا نتیجہ کارآمد ہے (سوال ۹.۴۱)۔

مسئلہ ۹.۱: غیر گھٹتا تسلسل کا مسئلہ

حقیقی اعداد کا ایک غیر گھٹتا تسلسل صرف اور صرف اس صورت مرتکز ہو گا جب یہ تسلسل اوپر سے محدود ہو۔ اگر ایک غیر گھٹتا تسلسل مرتکز ہو، یہ اپنے کم سے کم بالائی حد بندی پر مرتکز ہو گا۔

سوالات

ترتیب کے اجزاء کی تلاش

سوال ۹.۱ تا سوال ۹.۶ میں ترتیب کی n ویں جزو کا کلیہ دیا گیا ہے۔ اس کے ابتدائی اجزاء a_1 ، a_2 ، a_3 اور a_4 تلاش کریں۔

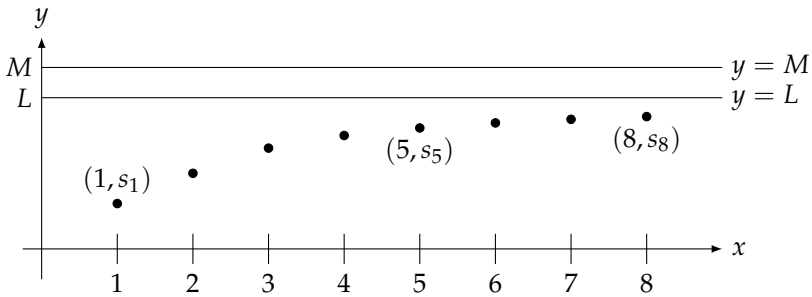

شکل ۹.۹: اگر غیر گھٹتے تسلسل کی بالائی حد بندی M ہو تب اس کی حدیں $L \leq M$ بھی ہوں گی۔

۱۳۶۵۱ سوال ۹.۱: $a_n = \frac{1-n}{n^2}$

۱۳۶۵۲ سوال ۹.۲: $a_n = \frac{1}{n!}$

۱۳۶۵۳ سوال ۹.۳: $a_n = \frac{(-1)^{n+1}}{2n-1}$

۱۳۶۵۴ سوال ۹.۴: $a_n = 2 + (-1)^n$

۱۳۶۵۵ سوال ۹.۵: $a_n = \frac{2^n}{2^{n+1}}$

۱۳۶۵۶ سوال ۹.۶: $a_n = \frac{2^n-1}{2^n}$

۱۳۶۵۷ سوال ۹.۷ تا سوال ۹.۱۲ میں ابتدائی ایک یا دو اجزاء اور کلیہ توالی دی گئی ہے۔ ابتدائی دس اجزاء تلاش کریں۔

۱۳۶۵۸ سوال ۹.۷: $a_1 = 1, \quad a_{n+1} = a_n + \frac{1}{2^n}$

۱۳۶۵۹ سوال ۹.۸: $a_1 = 1, \quad a_{n+1} = \frac{a_n}{n+1}$

۱۳۶۶۰ سوال ۹.۹: $a_1 = 2, \quad a_{n+1} = (-1)^{n+1}\frac{a_n}{2}$

۱۳۶۶۱ سوال ۹.۱۰: $a_1 = -2, \quad a_{n+1} = \frac{na_n}{n+1}$

۱۳۶۶۲ سوال ۹.۱۱: $a_1 = a_2 = 1, \quad a_{n+2} = a_{n+1} + a_n$

۱۳۶۶۳ سوال ۹.۱۲: $a_1 = 2, \quad a_2 = -1, \quad a_{n+2} = \frac{a_{n+1}}{a_n}$

۱۳۶۶۴ **ترتیب کے کلیہ کی تلاش**

۱۳۶۶۵ سوال ۹.۱۳ تا سوال ۹.۲۲ میں دیے گئے ترتیب کے n ویں جزو کا کلیہ تلاش کریں۔

۱۳۶۶۶ سوال ۹.۱۳: $1, -1, 1, -1, 1, \cdots$ ہر بار 1 کی علامت تبدیل ہوتی ہے۔

۱۳۶۶۷ سوال ۹.۱۴: $-1, 1, -1, 1, -1, \cdots$ ہر بار 1 کی علامت تبدیل ہوتی ہے۔

سوال ۹.۱۵: $1, -4, 9, -16, 25, \cdots$ مثبت عدد صحیح کا مربع جس کی علامت ہر بار تبدیل ہوتی ہے۔

سوال ۹.۱۶: $1, -\frac{1}{4}, \frac{1}{9}, -\frac{1}{16}, \frac{1}{25}, \cdots$ مثبت عدد صحیح کے مربع کا بالعکس متناسب جس کی علامت ہر بار تبدیل ہوتی ہے۔

سوال ۹.۱۷: $0, 3, 8, 15, 24, \cdots$ مثبت عدد صحیح کے مربع سے 1 کم۔

سوال ۹.۱۸: $-3, -2, -1, 0, 1, \cdots$ عدد صحیح -3 سے شروع کرتے ہوئے۔

سوال ۹.۱۹: $1, 5, 9, 13, 17, \cdots$ ہر دوسرا طاق مثبت عدد صحیح۔

سوال ۹.۲۰: $2, 6, 10, 14, 18, \cdots$ ہر دوسرا جفت مثبت عدد صحیح۔

سوال ۹.۲۱: $1, 0, 1, 0, 1, \cdots$ باری باری 1 اور 0

سوال ۹.۲۲: $1, 1, 2, 2, 3, 3, 4, \cdots$ ہر مثبت عدد صحیح دو بار۔

کیلکولیٹر کی مدد سے حد کی تلاش

سوال ۹.۲۳ تا سوال ۹.۲۶ میں کیلکولیٹر کے ساتھ تجربات کرتے ہوئے N کی وہ قیمت تلاش کریں جو دی گئی عدم مساوات کو تمام $n > N$ کے لئے مطمئن کرتا ہو۔ دی گئی عدم مساوات، تسلسل کی حد کی باضابطہ تعریف کے تحت ہے۔ تسلسل کی تفصیل پیش کریں اور اس کی حد تلاش کریں۔

سوال ۹.۲۳: $\left|\sqrt[n]{0.5} - 1\right| < 10^{-3}$

سوال ۹.۲۴: $\left|\sqrt[n]{n} - 1\right| < 10^{-3}$

سوال ۹.۲۵: $(0.9)^n < 10^{-3}$

سوال ۹.۲۶: $\frac{2^n}{n!} < 10^{-7}$

سوال ۹.۲۷: ترکیب نیوٹن سے حاصل ترتیبات

ترکیب نیوٹن کی قابل تفرق تفاعل $f(x)$ پر اطلاق سے ابتدائی قیمت x_0 اور اس کے بعد اعداد کی ترتیب $\{x_n\}$ حاصل ہوتی ہے جو موزوں صورت میں f کے صفر پر مرتکز ہو گی۔ اس ترتیب کا کلیہ توالی درج ذیل ہے۔

$$x_{n+1} = x_n - \frac{f(x_n)}{f'(x_n)}$$

ا. دکھائیں کہ $f(x) = x^2 - a^2,\ a > 0$ کا کلیہ توالی $x_{n+1} = \frac{x_n + a/x_n}{2}$ ہے۔

ب. ابتدائی قیمت $x_0 = 1$ اور $a = 3$ لیتے ہوئے وہاں تک یک بعد دیگرے اجزاء تلاش کریں جب اجزاء دہرانے شروع ہو جاتے ہیں۔ کون سے عدد کی تخمین حاصل ہوتی ہے؟ وجہ پیش کریں۔

سوال ۹.۲۸: گزشتہ سوال (سوال ۹.۲۷) میں $a = 3$ کے بجائے $a = 2$ لیتے ہوئے جزو-ب دوبارہ حل کریں۔

سوال ۹.۲۹: $\frac{\pi}{2}$ کی تعریف توالی

اگر آپ $x_1 = 1$ سے شروع کر کے $\{x_n\}$ کے باقی اجزاء کو قاعدہ $x_n = x_{n-1} + \cos x_{n-1}$ سے حاصل کریں تب ایک ایسی ترتیب حاصل ہو گی جو بہت تیزی سے $\frac{\pi}{2}$ پر مرتکز ہو گی۔ (ا) ایسا کر کے دیکھیں۔ (ب) اتنی تیز ارتکاز کی وجہ شکل ۹.۱۰ کی مدد سے پیش کریں۔

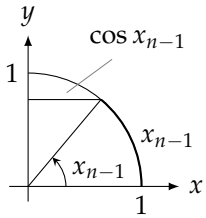

شکل ۹.۱۰: اکائی دائرہ برائے سوال ۹.۱۰

۱۳۶۹۳ سوال ۹.۳۰: گاڑیاں بنانے والا ایک کارخانہ دھاتی چادر کو دبا کر ایک گاڑی کا ڈھانچہ اوسطاً 7.25 گھنٹوں میں تیار کرتا ہے۔ اگر ڈھانچہ تیار کرنے کے لئے
۱۳۶۹۴ درکار وقت میں سالانہ 6 % کمی رونما ہو تب n سالوں بعد

$$S_n = 7.25(0.94)^n$$

۱۳۶۹۵ وقت درکار ہو گا۔ کتنے سالوں بعد تقریباً 3.5 گھنٹے درکار ہوں گے؟ جواب کو دو مختلف طریقوں سے تلاش کریں:

۱۳۶۹۶ ا. تسلسل S_n کا وہ پہلا جزو تلاش کریں جو 3.5 کے برابر یا اس سے کم ہو۔

۱۳۶۹۷ ب. تفاعل $f(x) = 7.25(0.94)^x$ ترسیم کر کے دیکھیں یہ کہاں لکیر $y = 3.5$ کو مس کرتی ہے۔

۱۳۶۹۸ **نظریہ اور مثالیں**

۱۳۶۹۹ سوال ۹.۳۱ تا سوال ۹.۳۴ میں معلوم کریں کہ آیا تسلسل غیر گھٹتی ہے اور کیا یہ اوپر سے محدود ہے۔

۱۳۷۰۰ سوال ۹.۳۱: $a_n = \frac{3n+1}{n+1}$

۱۳۷۰۱ سوال ۹.۳۲: $a_n = \frac{(2n+3)!}{(n+1)!}$

۱۳۷۰۲ سوال ۹.۳۳: $a_n = \frac{2^n 3^n}{n!}$

۱۳۷۰۳ سوال ۹.۳۴: $a_n = 2 - \frac{2}{n} - \frac{1}{2^n}$

۱۳۷۰۴ سوال ۹.۳۵ تا سوال ۹.۴۰ میں کون سی ترتیب مرتکز ہے اور کون سی منفرج؟ اپنے جواب کی وجہ پیش کریں۔

۱۳۷۰۵ سوال ۹.۳۵: $a_n = 1 - \frac{1}{n}$

۱۳۷۰۶ سوال ۹.۳۶: $a_n = n - \frac{1}{n}$

۱۳۷۰۷ سوال ۹.۳۷: $a_n = \frac{2^n - 1}{2^n}$

۱۳۷۰۸ سوال ۹.۳۸: $a_n = \frac{2^n - 1}{3^n}$

۱۳۷۰۹ سوال ۹.۳۹: $a_n = [(-1)^n + 1]\left(\frac{n+1}{n}\right)$

سوال ۹.۴۰: ایک ترتیب کا پہلا جزو $x_1 = \cos(1)$، اگلا جزو $x_2 = x_1$ یا $\cos(2)$ میں سے جو بھی بڑا ہے، اس سے اگلا جزو $x_3 = x_2$ یا $\cos(3)$ میں سے جو بھی بڑا (دائیں جانب زیادہ دور) ہے۔ یوں عمومی جزو درج ذیل ہو گا۔

$$x_{n+1} = \{x_n, \cos(n+1)\}_{\text{زیادہ بڑا}}$$

سوال ۹.۴۱: غیر بڑھتے ترتیبات

ایک ترتیب جس میں تمام n کے لئے $a_n > a_{n+1}$ ہو **غیر بڑھتا ترتیب**[۱۵] کہلاتا ہے۔ اگر ہر n کے لئے $a_n \leq M$ ہو جہاں M کوئی عدد ہو تب M کو ترتیب $\{a_n\}$ کی **زیریں حد بندی**[۱۶] کہتے ہیں اور ہم کہتے ہیں کہ یہ ترتیب **نیچے سے محدود**[۱۷] ہے۔ مسئلہ ۹.۱ سے اخذ کریں کہ ایسا غیر بڑھتا تسلسل جو نیچے سے محدود ہو مرتکز ہو گا جبکہ غیر بڑھتا تسلسل جو نیچے سے محدود نہ ہو منفرج ہو گا۔

سوال ۹.۴۲ تا سوال ۹.۴۶ میں سوال ۹.۴۱ کا نتیجہ استعمال کرتے ہوئے معلوم کریں کہ کونسی ترتیب مرتکز اور کونسی منفرج ہے۔

سوال ۹.۴۲: $a_n = \frac{n+1}{n}$

سوال ۹.۴۳: $a_n = \frac{1+\sqrt{2n}}{\sqrt{n}}$

سوال ۹.۴۴: $a_n = \frac{1-4^n}{2^n}$

سوال ۹.۴۵: $a_n = \frac{4^{n+1}+3^n}{4^n}$

سوال ۹.۴۶: $a_1 = 1, \quad a_{n+1} = 2a_n - 3$

سوال ۹.۴۷: ترتیب $\{\frac{n}{n+1}\}$ کی کم سے کم بالائی حد بندی 1 ہے۔ دکھائیں کہ اگر عدد M ایک سے کم ہو تب $\{\frac{n}{n+1}\}$ کے اجزاء آخر کار M سے تجاوز کر جائیں گے۔ یعنی $M < 1$ کی صورت میں ایسا عدد صحیح N موجود ہو گا کہ جب $n > N$ ہو تب $\frac{n}{n+1} > M$ ہو گا۔ چونکہ ہر n کے لئے $\frac{n}{n+1} < 1$ ہے لہٰذا یوں ثابت ہوتا ہے کہ $\{\frac{n}{n+1}\}$ کی بالائی حد بندی 1 ہو گی۔

سوال ۹.۴۸: کم سے کم بالائی حد بندی کی یکتائی

دکھائیں کہ اگر M_1 اور M_2 ترتیب $\{a_n\}$ کے کم سے کم بالائی حد بندی ہوں تب $M_1 = M_2$ ہو گا، یعنی، کسی بھی ترتیب کے دو مختلف کم سے کم بالائی حد بندی نہیں ہو سکتی ہیں۔

سوال ۹.۴۹: کیا ضروری ہے کہ اوپر سے محدود، مثبت اعداد کی ترتیب $\{a_n\}$ لازماً مرتکز ہو گی؟ اپنے جواب کی وجہ پیش کریں۔

سوال ۹.۵۰: اگر $\{a_n\}$ مرتکز ترتیب ہو تب دکھائیں کہ ہر مثبت عدد ϵ کے لئے ایسا مطابقتی عدد صحیح N ہو گا کہ تمام m اور n کے لئے درج ذیل ہو۔

$$m > N \quad \text{اور} \quad n > N \quad \Longrightarrow \quad |a_m - a_n| < \epsilon$$

سوال ۹.۵۱: حد کی یکتائی

ثابت کریں کہ ہر ترتیب کا حد یکتا ہو گا، یعنی، دکھائیں کہ اگر L_1 اور L_2 ایسے اعداد ہوں کہ $a_n \to L_1$ اور $a_m \to L_2$ ہوں تب $L_1 = L_2$ ہو گا۔

---

[۱۵] nonincreasingsequence
[۱۶] lowerbound
[۱۷] boundedfrombelow

سوال ۹.۵۲: ترتیبات اور حد

دکھائیں کہ اگر ترتیب $\{a_n\}$ کے دو ذیلی ترتیبات کی حدیں مختلف ہوں، $L_1 \neq L_2$ تب $\{a_n\}$ منفرج ترتیب ہو گی۔

سوال ۹.۵۳: ترتیب $\{a_n\}$ کے جفت اشاریہ کے اجزاء کو a_{2k} اور طاق اشاریہ کے اجزاء کو a_{2k+1} سے ظاہر کیا جاتا ہے۔ ثابت کریں کہ $a_{2k} \to L$ اور $a_{2k+1} \to L$ کی صورت میں $a_n \to L$ ہو گا۔

سوال ۹.۵۴: دکھائیں کہ ترتیب $\{a_n\}$ اس صورت 0 کو مرتکز ہو گا جب مطلق قیمتیں $\{|a_n|\}$ صفر کو مرتکز ہوں۔

کمپیوٹر کا استعمال

سوال ۹.۵۵ تا سوال ۹.۶۶ میں کمپیوٹر کی مدد سے درج ذیل اقدام کریں۔

ا. ابتدائی 25 اجزاء کا حساب لگا کر انہیں ترسیم کریں۔ کیا ترتیب اوپر یا نیچے سے محدود نظر آتی ہے؟ کیا یہ منفرج یا مرتکز نظر آتی ہے؟ ارتکاز کی صورت میں حد L کتنا ہے؟

ب. اگر تسلسل مرتکز ہو تب ایسا عدد صحیح N تلاش کریں کہ $n \geq N$ کے لئے $|a_n - L| \leq 0.01$ ہو۔ ترتیب میں کتنا آگے جا کر L اور اجزاء کے بیچ فاصلہ 0.0001 سے کم ہو گا؟

سوال ۹.۵۵: $a_n = \sqrt[n]{n}$

سوال ۹.۵۶: $a_n = \left(1 + \frac{0.5}{n}\right)^n$

سوال ۹.۵۷: $a_1 = 1, \quad a_{n+1} = a_n + \frac{1}{5^n}$

سوال ۹.۵۸: $a_1 = 1, \quad a_{n+1} = a_n + (-2)^n$

سوال ۹.۵۹: $a_n = \sin n$

سوال ۹.۶۰: $a_n = n \sin \frac{1}{n}$

سوال ۹.۶۱: $a_n = \frac{\sin n}{n}$

سوال ۹.۶۲: $a_n = \frac{\ln n}{n}$

سوال ۹.۶۳: $a_n = (0.9999)^n$

سوال ۹.۶۴: $a_n = 123456^{1/n}$

سوال ۹.۶۵: $a_n = \frac{8^n}{n!}$

سوال ۹.۶۶: $a_n = \frac{n^{41}}{19^n}$

سوال ۹.۶۷: سود در سود

آپ ایک بنک میں مستقل رقم A_0 جمع کرتے ہیں جو سالانہ r فی صد سود کا ایک سال میں m مرتبہ حساب لگا کر آپ کے رقم میں جمع کرتی ہے۔ مزید آپ ہر سال b رقم بھی بنک میں جمع کرتے ہیں یا $b < 0$ کی صورت میں بنک سے نکالتے ہیں۔ یوں $n+1$ سال بعد کل رقم درج ذیل ہو گی۔

$$A_{n+1} = \left(1 + \frac{r}{m}\right) A_n + b \tag{۱}$$

ا. اگر $A_0 = 1000$ ، $r = 0.02015$ ، $m = 12$ اور $b = 50$ ہوں تب ابتدائی 100 نقطوں (n, A_n) کو ترسیم کریں۔ پانچ سال کے آخر میں آپ کی رقم کتنی ہوگی؟ کیا $\{A_n\}$ مرتکز ہے؟ کیا $\{A_n\}$ محدود ہے۔

ب. اگر $A_0 = 5000$ ، $r = 00589$ ، $m = 12$ اور $b = -50$ ہوں تب ابتدائی 100 نقطوں (n, A_n) کو ترسیم کریں۔

ج. اگر آپ بنک میں 5000 رقم مستقل طور پر جمع کریں جس پر سالانہ $4.5\,\%$ سود ہو جس کا ایک سال میں چار مرتبہ حساب کیا جاتا ہو تب کتنے سالوں بعد آپ کی رقم 20000 ہوگی۔ اگر سود $6.25\,\%$ ہو؟

د. سود در سود کا تعلق مساوات ۱ میں پیش کیا گیا ہے جو $k \geq 0$ کے لئے درج ذیل تعلق کو مطمئن کرتی ہے

$$A_k = (1 + r/m)^k (A_0 + mb/r) - \frac{mb}{r} \qquad (۲)$$

جس کی تصدیق کی خاطر مساوات ۱ اور مساوات ۲ کی ابتدائی 50 اجزاء کا آپس میں موازنہ کریں۔ اس کے بعد مساوات ۲ سے مساوات ۱ اخذ کریں۔

سوال ۹.۶۸: اگر ابتدائی قیمت a_0 دیا گیا ہو تب کلیہ توالی $a_{n+1} = ra_n(1 - a_n)$ ترتیب $\{a_n\}$ دیتا ہے۔ ہم $0 < a_0 < 1$ لیں گے۔

ا. $a_0 = \frac{3}{4}$ منتخب کریں۔ ترتیب کے ابتدائی 100 نقطے (n, a_n) ترسیم کریں۔ کیا ترتیب مرتکز معلوم ہوتا ہے؟ آپ کے خیال میں ترتیب کا حد کیا ہے؟ کیا حد کی قیمت a_0 کے انتخاب پر منحصر ہے؟

ب. وقفہ $1 < r < 3$ میں r کی کئی قیمتیں منتخب کر کے جزو-الف دہرائیں۔ اس وقفہ کے سروں کے قریب ضرور نقطے منتخب کریں۔ ترسیم کے رویہ پر تبصرہ کریں۔

ج. اب وقفہ $3 < r < 3.45$ کے آخری سروں کے قریب ترتیب کے رویہ پر غور کریں۔ عبوری نقطہ $r = 3$ کو **دو لختی قیمت**[۱۸] کہتے ہیں۔ نئے وقفہ میں ترتیب کے رویہ کو 2 **چکر کشی** کہتے ہیں۔ آپ سمجھائیں کہ یہ فقرہ کیوں ترتیب کے رویہ کو درست بیان کرتا ہے۔

د. وقفہ $3.45 < r < 3.54$ اور وقفہ $3.54 < r < 3.55$ کے آخری سروں کے قریب r کی قیمتوں کے لئے ترتیب کے رویہ پر غور کریں۔ ترتیب کی ابتدائی 200 قیمتیں ترسیم کریں۔ ہر ایک وقفہ میں ترتیب کے رویوں پر تبصرہ کریں۔ ہر ایک وقفہ میں کتنی قیمتوں کے بیچ ترتیب ارتعاش کرتی ہے؟ چونکہ $r = 3.45$ اور $r = 3.54$ کو عبور کرنے سے ترتیب کا رویہ تبدیل ہوتا ہے لہٰذا ان نقطوں کو بھی دو لختی قیمتیں کہتے ہیں۔

ھ. حقیقت میں دو لختی قیمتوں کی ترتیب $3 < 3.45 < 3.54 < \cdots < c_n < c_{n+1} \cdots$ پائی جاتی ہے جس میں $c_n < r < c_{n+1}$ ہوگا۔ یوں یہ ترتیب 2^n قیمتوں، جنہیں 2^n **چکر کشی** کہتے ہیں، کے بیچ برقرار ارتعاش کرتی ہے۔ مزید دو لختی ترتیب $\{c_n\}$ اوپر سے 3.57 تک محدود ہے لہٰذا یہ مرتکز ہوگی۔ اگر آپ $r < 3.57$ منتخب کریں، آپ کو 2^n چکر کی کوئی قسم نظر آئے گی۔ آپ $r = 3.5695$ منتخب کر کے ابتدائی 300 نقطے ترسیم کریں۔

و. آئیں $r > 3.57$ کر کے ترتیب کے رویہ پر غور کریں۔ یوں $r = 3.65$ منتخب کر کے $\{a_n\}$ کے ابتدائی 300 نقطے ترسیم کریں۔ آپ دیکھیں گے کہ ترتیب کے اجزاء میں کوئی ترتیب نہیں پائی جائے گی۔ آپ a_n کی قیمت سے a_{n+1} کی قیمت کی پیش گوئی نہیں کر سکتے ہیں۔

---

[۱۸] bifurcationvalue

ز. $r = 3.65$ لے کر a_0 کی دو قریبی ابتدائی قیمتیں، مثلاً $a_0 = 0.3$ اور $a_0 = 0.301$، منتخب کریں۔ ان ابتدائی قیمتوں سے حاصل دونوں ترتیب کی ابتدائی 300 قیمتیں ترسیم کریں۔ دونوں کے رویہ پر غور کریں۔ کتنے اجزاء بعد دونوں ترتیبات کے اجزاء میں فرق بڑھتا ہوا نظر آتا ہے؟ آپ $r = 3.75$ کے لئے یہی کچھ کریں۔ کیا آپ دیکھ سکتے ہیں کہ a_0 کی انتخاب سے ترسیم کتنے مختلف نظر آتے ہیں؟ ہم کہتے ہیں کہ یہ ترتیب ابتدائی قیمت کو حساس[19] ہے۔

۹.۲ ترتیب کی حدیں تلاش کرنے کے مسئلے

حد پر غور کرتے وقت ہر مرتبہ ارتکاز کو تعریف سے ثابت کرنا مشکل کام ہے۔ خوش قسمتی سے تین مسائل اس عمل سے، کم و بیش ہر زیادہ تر، چھٹکارا دیتے ہیں۔ پہلا مسئلہ درج ذیل ہے جو حصہ ۲.۲ میں مسئلہ ۲.۱ کی ایک قسم ہے۔

مسئلہ ۹.۲: فرض کریں $\{a_n\}$ اور $\{b_n\}$ حقیقی اعداد کے ترتیب ہیں اور A اور B حقیقی اعداد ہیں۔ اگر $\lim_{n\to\infty} a_n = A$ اور $\lim_{n\to\infty} b_n = B$ ہوں تب درج ذیل قواعد درست ہوں گے۔

قاعدہ مجموعہ: $\lim\limits_{n\to\infty}(a_n + b_n) = A + B$

قاعدہ فرق: $\lim\limits_{n\to\infty}(a_n - b_n) = A - B$

قاعدہ ضرب: $\lim\limits_{n\to\infty}(a_n \cdot b_n) = A \cdot B$

قاعدہ ضرب مستقل: $\lim\limits_{n\to\infty}(k \cdot b_n) = k \cdot B$ (جہاں k عدد ہے)

قاعدہ حاصل تقسیم: $\lim\limits_{n\to\infty} \frac{a_n}{b_n} = \frac{A}{B}$ اگر $B \neq 0$ ہو۔

مثال ۹.۸: ہم مسئلہ ۹.۲ کے ساتھ گزشتہ حصے کی مثال ۹.۲ ملا کر درج ذیل حاصل کرتے ہیں۔

$$\begin{aligned}
\lim_{n\to\infty}\left(-\frac{1}{n}\right) &= 1 \cdot \lim_{n\to\infty}\frac{1}{n} = -1 \cdot 0 = 0\\
\lim_{n\to\infty}\left(\frac{n-1}{n}\right) &= \lim_{n\to\infty}\left(1-\frac{1}{n}\right) = \lim_{n\to\infty} 1 - \lim_{n\to\infty}\frac{1}{n} = 1 - 0 = 1\\
\lim_{n\to\infty}\frac{5}{n^2} &= 5 \cdot \lim_{n\to\infty}\frac{1}{n} \cdot \lim_{n\to\infty}\frac{1}{n} = 5 \cdot 0 \cdot 0 = 0\\
\lim_{n\to\infty}\frac{4-7n^6}{n^6+3} &= \lim_{n\to\infty}\frac{\frac{4}{n^6}-7}{1+\frac{3}{n^6}} = \frac{0-7}{1+0} = -7
\end{aligned}$$

□

[19] sensitive

مسئلہ ۹.۲ کے تحت منفرج ترتیب $\{a_n\}$ کو ہر غیر صفر عدد سے ضرب دینے سے منفرج ترتیب ہی حاصل ہوتی ہے۔ مثال کے طور پر اگر اس کے برعکس کسی عدد $c \neq 0$ کے لئے $\{ca_n\}$ مرتکز ہو تب مسئلہ ۹.۲ میں قاعدہ ضرب مستقل میں $k = \frac{1}{c}$ لیتے ہوئے ہم دیکھتے ہیں درج ذیل ترتیب مرتکز ہو گی۔

$$\left\{\frac{1}{c} \cdot ca_n\right\} = \{a_n\}$$

یوں $\{ca_n\}$ صرف اس صورت مرتکز ہو گی جب a_n مرتکز ہو۔ اگر $\{a_n\}$ مرتکز نہ ہو تب $\{ca_n\}$ مرتکز نہیں ہو سکتی ہے۔

اگلا مسئلہ حصہ ۲.۲ میں مسئلہ بیچ (مسئلہ ۲.۴) کی ترتیب پر قابل لاگو قسم ہے۔

مسئلہ ۹.۳: **ترتیب کے لئے مسئلہ بیچ**

فرض کریں $\{a_n\}$ ، $\{b_n\}$ اور $\{c_n\}$ حقیقی اعداد کی ترتیبات ہیں۔ اگر کسی اشاریہ N کے بعد تمام n کے لئے

$$a_n \leq b_n \leq c_n$$

ہو اور اگر $\lim_{n\to\infty} a_n = \lim_{n\to\infty} c_n = L$ ہو تب $\lim_{n\to\infty} b_n = L$ ہو گا۔

اگر $|b_n| \leq c_n$ ہو اور $c_n \to 0$ ہو تب چونکہ $-c_n \leq b_n \leq c_n$ ہو گا لہٰذا مسئلہ ۹.۳ کے تحت $b_n \to 0$ ہو گا۔ اس حقیقت کو اگلی مثال میں استعمال کیا جائے گا۔

مثال ۹.۹: چونکہ $\frac{1}{n} \to 0$ ہوتا ہے لہٰذا ہم جانتے ہیں کہ درج ذیل ہوں گے۔

(الف) $\frac{\cos n}{n} \to 0$ $\qquad \left(\left|\frac{\cos n}{n}\right| = \frac{|\cos n|}{n} \leq \frac{1}{n}\right)$

(ب) $\frac{1}{2^n} \to 0$ $\qquad \left(\frac{1}{2^n} \leq \frac{1}{n}\right)$

(ج) $(-1)^n \frac{1}{n} \to 0$ $\qquad \left(\left|(-1)^n \frac{1}{n}\right| \leq \frac{1}{n}\right)$

□

ایک مسئلہ جو کہتا ہے کہ استمراری تفاعل کی مرتکز ترتیب پر اطلاق سے مرتکز ترتیب ملتی ہے مسئلہ ۹.۲ اور مسئلہ ۹.۳ کو وسعت دیتا ہے۔ ہم اس مسئلے کو بغیر ثبوت کے پیش کرتے ہیں۔

مسئلہ ۹.۴: **استمراری تفاعل مسئلہ برائے ترتیبات**

فرض کریں $\{a_n\}$ حقیقی اعداد کی ترتیب ہے۔ اگر $a_n \to L$ ہو اور f ایسا تفاعل ہو جو L پر استمراری اور تمام a_n پر معین ہو تب $f(a_n) \to f(L)$ ہو گا۔

۱۳۸۲۴ مثال ۹.۱۰: دکھائیں کہ $\sqrt{\frac{n+1}{n}} \to 1$ ہوگا۔

۱۳۸۲۵ حل: ہم جانتے ہیں کہ $\frac{n+1}{n} \to 1$ ہے۔ مسئلہ ۹.۴ میں $f(x) = \sqrt{x}$ اور $L = 1$ لینے سے درج ذیل حاصل ہوگا۔

$$\sqrt{\frac{n+1}{n}} \to \sqrt{1} = 1$$

۱۳۸۲۶ □

۱۳۸۲۷ **فنیات**

۱۳۸۲۸ ترتیب $\{2^{1/n}\}$: کیلکولیٹر میں 2 لکھ کر بار بار جذر لینے سے کیا حاصل ہوگا؟ آپ دیکھیں گے کہ جوابات ایسی ترتیب دیتے ہیں جو 1 کو مرتکز ہے۔ یہ
۱۳۸۲۹ ترتیب درج ذیل ہے۔ کیلکولیٹر استعمال کر کے اس ترتیب کو خود حاصل کریں۔

n	$2^{1/n}$
2	1.414 213 562
4	1.189 207 115
8	1.090 507 733
64	1.010 889 286
256	1.002 711 275
1024	1.000 677 131
16384	1.000 042 307

۱۳۸۳۰ درج بالا جدول میں کیا ہو رہا ہے؟ ترتیب $\{\frac{1}{n}\}$ عدد 0 کو مرتکز ہے۔ مسئلہ ۹.۴ میں $a_n = \frac{1}{n}$ ، $f(x) = 2^x$ اور $L = 0$ لینے سے ہم
۱۳۸۳۱ دیکھتے ہیں کہ $2^{1/n} = f(\frac{1}{n}) \to f(L) = 2^0 = 1$ ہوگا۔ چونکہ 2 کے یک بعد دیگرے جذر، ترتیب $\{2^{1/n}\}$ کی ذیلی ترتیب
۱۳۸۳۲ $2^{1/2}, 2^{1/4}, 2^{1/8}, \ldots$ دیتے ہیں لہٰذا یہ جذر بھی 1 کو مرتکز ہوگا (شکل ۹.۱۱)۔

۱۳۸۳۳ **قاعدہ لھوپیٹال کا استعمال**

۱۳۸۳۴ اگلا مسئلہ ہمیں قاعدہ لھوپیٹال کی مدد سے چند ترتیبات کی حدیں تلاش کرنے کے قابل بناتا ہے۔

۱۳۸۳۵ مسئلہ ۹.۵: فرض کریں کہ تفاعل $f(x)$ تمام $x \geq n_0$ کے لئے معین ہے اور $\{a_n\}$ حقیقی اعداد کی ایک ایسی ترتیب ہے کہ تمام $n \geq n_0$
۱۳۸۳۶ کے لئے $a_n = f(n)$ ہے۔ ایسی صورت میں درج ذیل ہوگا۔

$$\lim_{x\to\infty} f(x) = L \quad \Longrightarrow \quad \lim_{n\to\infty} a_n = L$$

۱۳۸۳۷ ثبوت: فرض کریں کہ $\lim x \to \infty f(x) = L$ ہے۔ تب ہر مثبت عدد ϵ کے لئے ایسا عدد M پاتا ہے کہ تمام x کے لئے درج ذیل
۱۳۸۳۸ ہو۔

$$x > M \quad \Longrightarrow \quad \left|f(x) - L\right| < \epsilon$$

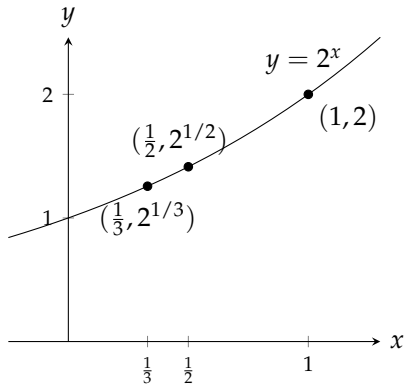

شکل ۹.۱۱: جیسے جیسے $n \to \infty$ ہوتا ہے ویسے ویسے $\frac{1}{n} \to 0$ اور $2^{1/n} \to 2^0$ ہوتے ہیں۔

۱۳۸۳۹ فرض کریں عدد صحیح N عدد M سے بڑا جبکہ n_0 کے برابر یا اس سے بڑا ہے۔ تب درج ذیل ہو گا۔

$$\begin{aligned} n > N \quad &\Longrightarrow \quad a_n = f(n) \\ |a_n - L| = &\left|f(n) - L\right| < \epsilon \end{aligned}$$

۱۳۸۴۰ □

۱۳۸۴۱ مثال ۹.۱۱: دکھائیں $\lim_{n\to\infty} \frac{\ln n}{n} = 0$

۱۳۸۴۲ حل: تفاعل $\frac{\ln x}{x}$ تمام $x \geq 1$ کے لئے معین ہے اور مثبت عدد صحیح کے لئے اس ترتیب سے اتفاق کرتا ہے۔ یوں $\lim_{n\to\infty} \frac{\ln n}{n}$ مسئلہ ۹.۵
۱۳۸۴۳ کے تحت $\lim_{x\to\infty} \frac{\ln x}{x}$ (اگر موجود ہو) کے ساتھ اتفاق کرے گا۔ قاعدہ لھوپیٹال کی ایک استعمال سے درج ذیل حاصل ہو گا۔

$$\lim_{x\to\infty} \frac{\ln x}{x} = \lim_{x\to\infty} \frac{1/x}{1} = \frac{0}{1} = 0$$

۱۳۸۴۴ یوں $\lim_{n\to\infty} \frac{\ln n}{n} = 0$ ہو گا۔ □

۱۳۸۴۵ قاعدہ لھوپیٹال کی مدد سے ترتیب کا حد تلاش کرتے ہوئے ہم n کو استمراری حقیقی متغیر تصور کر کے اس کو n کے لحاظ سے تفرق کرتے ہیں۔ اس طرح ہمیں
۱۳۸۴۶ $\{a_n\}$ کا کلیہ دوبارہ لکھنے کی ضرورت پیش نہیں آتی ہے، جیسا ہمیں مثال ۹.۱۱ میں کرنا پڑا۔

۱۳۸۴۷ مثال ۹.۱۲: حد $\lim_{n\to\infty} \frac{2^n}{5n}$ تلاش کریں۔

۱۳۸۴۸ حل: قاعدہ لھوپیٹال استعمال کرتے ہیں۔

$$\lim_{n\to\infty} \frac{2^n}{5n} = \lim_{n\to\infty} \frac{2^n \cdot \ln 2}{5} = \infty$$

جدول ۹.۲: عموماً پائے جانے والے حد

شمار	حد
1	$\lim_{n\to\infty} \frac{\ln n}{n} = 0$
2	$\lim_{n\to\infty} \sqrt[n]{n} = 1$
3	$\lim_{n\to\infty} x^{1/n} = 1 \quad (x > 0)$
4	$\lim_{n\to\infty} x^n = 0 \quad (\lvert x\rvert < 1)$
5	$\lim_{n\to\infty} \left(1 + \frac{x}{n}\right)^n = e^x$
6	$\lim_{n\to\infty} \frac{x^n}{n!} = 0$

۱۳۸۴۹ □

۱۳۸۵۰ **عموماً پائے جانے والے حد**

۱۳۸۵۱ جدول ۹.۲ میں عموماً پائے جانے والے حد دیے گئے ہیں جہاں کلیہ ۶۱۳ میں $n \to \infty$ کرتے ہوئے x مستقل رہتا ہے۔ پہلا حد مثال ۹.۱۱ سے ہے۔ اگلے
۱۳۸۵۲ دو حد تلاش کرنے کے لئے لوگارتھم لے کر مسئلہ ۹.۴ استعمال کریں (سوال ۹.۱۳۹ اور سوال ۹.۱۴۰)۔ باقی ثبوت ضمیمہ و میں دیے گئے ہیں۔

۱۳۸۵۳ مثال ۹.۱۳: ایک ترتیب کا n واں جزو $a_n = \left(\frac{n+1}{n-1}\right)^n$ ہے۔ کیا یہ ترتیب مرتکز ہے؟ اگر ترتیب مرتکز ہو تب اس کا حد تلاش کریں۔

۱۳۸۵۴ حل: حد کی تلاش ناقابل معلوم قیمت 1^∞ دیتی ہے۔ ہم a_n کا قدرتی لوگارتھم لے کر $\infty \cdot 0$ حاصل کرتے ہیں لہٰذا قاعدہ لھوپیٹال استعمال کیا جا سکتا
۱۳۸۵۵ ہے۔

$$\begin{aligned}\ln a_n &= \ln\left(\frac{n+1}{n-1}\right)^n \\ &= n\ln\left(\frac{n+1}{n-1}\right)\end{aligned}$$

۱۳۸۵۶ یوں

$$\begin{aligned}
\lim_{n\to\infty} \ln a_n &= \lim_{n\to\infty} n \ln\left(\frac{n+1}{n-1}\right) && \infty \cdot 0 \\
&= \lim_{n\to\infty} \frac{\ln\left(\frac{n+1}{n-1}\right)}{1/n} && \frac{0}{0} \\
&= \lim_{n\to\infty} \frac{-2/(n^2-1)}{-1/n^2} && \text{قاعدہ لھوپیٹال} \\
&= \lim_{n\to\infty} \frac{2n^2}{n^2-1} = 2
\end{aligned}$$

۱۳۸۵۷ ہو گا۔ چونکہ $\ln a_n \to 2$ ہے اور $f(x) = e^x$ استمراری ہے لہٰذا مسئلہ ۹.۴ کے تحت $a_n = e^{\ln a_n} \to e^2$ ہو گا۔ ترتیب $\{a_n\}$
۱۳۸۵۸ عدد e^2 پر مرتکز ہے۔ □

۱۳۸۵۹ جذر تلاش کرنے کی ترکیب پکاغ

۱۳۸۶۰ درج ذیل مساوات

$$f(x) = 0 \tag{۱}$$

۱۳۸۶۱ سے مراد

$$g(x) = f(x) + x = x \tag{۲}$$

۱۳۸۶۲ کا حل لیا جا سکتا ہے جہاں دونوں اطراف x جمع کیا گیا ہے۔ اس معمولی تبدیلی کی وجہ سے اس مساوات کو کمپیوٹر پر **ترکیب پکاغ**[۲۰] سے حل[۲۱] کرنا ممکن ہو جاتا
۱۳۸۶۳ ہے۔

۱۳۸۶۴ اگر g کے دائرہ کار میں g کا سعت بھی شامل ہو تب ہم دائرہ کار میں نقطہ x_0 سے شروع کر کے g سے یک بعد دیگرے درج ذیل حاصل کرتے ہیں۔

$$x_1 = g(x_0), \quad x_2 = g(x_1), \quad x_3 = g(x_2), \quad \cdots \tag{۳}$$

۱۳۸۶۵ سادہ پابندیاں، جنہیں جلد پیش کیا جائے گا، لاگو کرتے ہوئے کلیہ توالی $x_{n+1} = g(x_n)$ سے حاصل ترتیب ایک ایسے نقطہ x پر مرکوز ہو گی جس پر
۱۳۸۶۶ $g(x) = x$ ہو گا۔ چونکہ اس نقطہ پر

$$f(x) = g(x) - x = x - x = 0 \tag{۴}$$

۱۳۸۶۷ ہو گا لہٰذا یہ نقطہ مساوات $f(x) = 0$ کا حل ہو گا۔

۱۳۸۶۸ وہ نقطہ جس پر $g(x) = x$ ہو g کا **مقررہ نقطہ**[۲۲] کہلاتا ہے۔ ہم مساوات ۴ سے دیکھتے ہیں کہ g کے مقررہ نقطے f کے جذر ہیں۔

---

[۲۰] Picard'smethod

[۲۱] فرانسیسی ریاضی دان شاغل مل پکاغ

[۲۲] fixedpoint

جدول ۹.۳: ابتدائی نقطہ $x_0 = 1$ لیتے ہوئے $g(x) = (1/4)x + 3$ کے یک بعد دیگرے نتائج۔

$x_{n+1} = g(x_n) = \frac{x_n}{4} + 3$	x_n
$x_1 = g(x_0) = (1/4)(1) + 3 = 3.25$	$x_0 = 1$
$x_2 = g(x_1) = (1/4)(3.25) + 3 = 3.8125$	$x_1 = 3.25$
$x_3 = g(x_2) = (1/4)(3.8125) + 3 = 3.953\,125$	$x_2 = 3.8125$
$x_4 = 3.988\,281\,25$	$x_3 = 3.953125$
$x_5 = 3.997\,070\,313$	$\vdots$
$x_6 = 3.999\,267\,578$	
$x_7 = 3.999\,816\,895$	
$x_8 = 3.999\,954\,224$	
$x_9 = 3.999\,988\,556$	
$x_{10} = 3.999\,997\,139$	
$\vdots$	

۱۳۸۶۹ مثال ۹.۱۴: **ترکیب کی پرکھ** درج ذیل مساوات حل کریں۔

$$\frac{x}{4} + 3 = x$$

۱۳۸۷۰ حل: الجبرا سے ہم جانتے ہیں کہ اس مساوات کا حل $x = 4$ ہے۔ ترکیب پکاغ استعمال کرتے ہوئے ہم

$$g(x) = \frac{x}{4} + 3$$

۱۳۸۷۱ لے کر ابتدائی نقطہ، مثلاً $x_0 = 1$ منتخب کر کے ترتیب $x_{n+1} = g(x_n)$ کے اجزاء حاصل کرتے ہیں۔ نتائج جدول ۹.۳ میں دیے گئے ہیں۔ دس
۱۳۸۷۲ قدموں میں حاصل جواب میں خلل 3×10^{-6} سے کم ہے۔

۱۳۸۷۳ شکل ۱۹.۱۲ میں ترکیب کی جیومیٹری دکھائی گئی ہے۔ ہم ابتدائی نقطہ $x_0 = 1$ سے شروع کر کے پہلی قیمت $g(x_0)$ حاصل کرتے ہیں جو x کی دوسری
۱۳۸۷۴ قیمت x_1 ہو گی۔ y کی دوسری قیمت $g(x_1)$ کو x کی تیسری قیمت x_2 لیں گے، وغیرہ، وغیرہ۔ شکل ۱۹.۱۲ میں اس عمل کو نقطہ دار لکیر سے دکھایا گیا
۱۳۸۷۵ ہے جس کو **راہ توالی**[۲۳] کہتے ہیں۔ راہ توالی ابتدائی نقطہ x_0 سے شروع ہو کر انتصابی رخ $(x_0, x_1) = (x_0, g(x_0))$ پہنچ کر افقی رخ
۱۳۸۷۶ (x_1, x_1) اور یہاں سے دوبارہ انتصابی رخ $(x_1, g(x_1))$ جاتی ہے، وغیرہ، وغیرہ۔ یہ راہ اس نقطہ پر مرتکز ہو گی جس پر لکیر $y = x$ اور
۱۳۸۷۷ $g(x)$ ایک دوسرے سے ملتے ہیں۔ یہ وہ نقطہ ہے جہاں $g(x) = x$ ہو گا۔ □

۱۳۸۷۸ مثال ۹.۱۵: $\cos x = x$ کو حل کریں۔

۱۳۸۷۹ حل: ہم $g(x) = \cos x$ لے کر ابتدائی نقطہ $x_0 = 1$ منتخب کر کے کلیہ توالی $x_{n+1} = g(x_n)$ استعمال کرتے ہیں۔ یوں درج ذیل

---

[۲۳] iterationpath

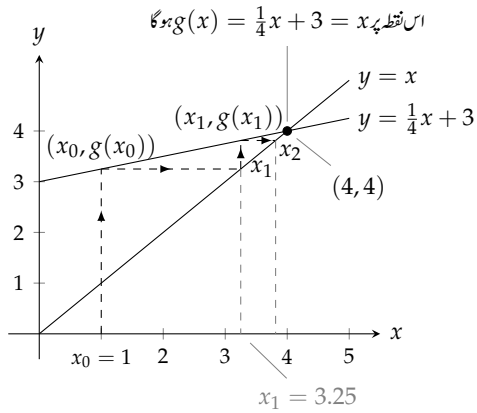

(ا) ترکیب پکاغ سے مساوات $g(x) = \frac{1}{4}x + 3 = x$ کا حل (مثال ۹.۱۴)۔

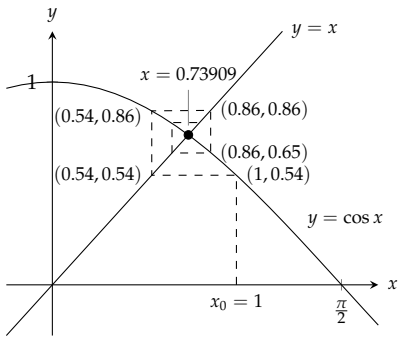

(ب) ابتدائی نقطہ $x_0 = 1$ لے کر ترکیب پکاغ سے $\cos x = x$ کا حل (مثال ۹.۱۵)۔

۱۳۸۸۰ حاصل ہوں گے۔

$$x_0 = 1, \quad x_1 = \cos(1), \quad x_2 = \cos(x_1), \quad \cdots$$

۱۳۸۸۱ ہم کیلکولیٹر کو ریڈیئن طرز کارکردگی میں رکھ کر ابتدائی 50 اجزاء حاصل کرتے ہیں۔ کیلکولیٹر میں 1 داخل کر کے بار بار کوسائن لینے سے یہ اجزاء حاصل
۱۳۸۸۲ ہوں گے۔ کیلکولیٹر پر دکھایا گیا عدد اس وقت تک تبدیل ہوگا جب تک $\cos x = x$ نہ ہو۔

۱۳۸۸۳ یہ عمل خود کر کے دیکھیں۔ آپ دیکھیں گے کہ یک بعد دیگرے جوابات مستقل نقطہ $x = 0.739085133\cdots$ سے اوپر اور نیچے پائے جائیں گے۔

۱۳۸۸۴ شکل ۹.۱۲ب میں اس ارتعاش کی وجہ نظر آتی ہے جہاں راہ توالی درکار نقطہ کے گرد گھومتی ہے۔ □

۱۳۸۸۵ مثال ۹.۱۶: ترکیب پکاغ سے $g(x) = 4x - 12 = x$ حل نہیں ہوگا۔

۱۳۸۸۶ جیسا شکل ۹.۱۳ میں دکھایا گیا ہے، ماسوائے $x_0 = 4$ کے کسی بھی ابتدائی x_0 کی انتخاب منفرج ترتیب دیتی ہے جو کبھی بھی $g(x)$ کے مقررہ نقطہ پر
۱۳۸۸۷ نہیں پہنچ پاتی ہے۔ مساوات $g(x) = 4x - 12$ کا مقررہ نقطہ $x = 4$ ہے۔ □

۱۳۸۸۸ مثال ۹.۱۶ میں ترکیب پکاغ کی ناکامی لکیر $y = 4x - 12$ کی ڈھلوان کی وجہ سے ہے جو لکیر $y = x$ کی ڈھلوان 1 سے زیادہ ہے۔ مثال ۹.۱۴
۱۳۸۸۹ میں لکیر $y = \frac{1}{4}x + 3$ کی ڈھلوان $\frac{1}{4}$ ہے جو 1 سے کم ہے لہٰذا ترکیب پکاغ کارآمد ثابت ہوتی ہے۔ اعلیٰ احصاء کا ایک مسئلہ کہتا ہے کہ اگر بند وقفہ
۱۳۸۹۰ I پر مساوات $g(x) = x$ کا حل پایا جاتا ہو اور اس وقفہ پر $g'(x)$ استمراری اور $\left|g'(x)\right| < 1$ ہو، تب I کے اندرون پر کسی بھی نقطہ x_0
۱۳۸۹۱ سے شروع کرتے ہوئے ترکیب پکاغ مساوات کا حل دے گی۔ (سوال ۹.۱۵۱ اور سوال ۹.۱۵۲ سے پہلے دیکھیں جہاں $\left|g'(x)\right| > 1$ کی صورت میں درکار
۱۳۸۹۲ اقدام بتائے گئے ہیں۔)

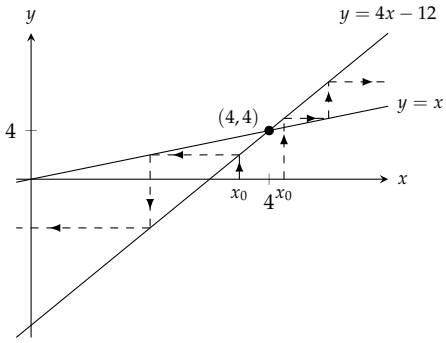

شکل ۹.۱۳: ترکیب پکاغ سے $g(x) = 4x - 12$ حل نہیں ہوگا سوائے جب ابتدائی نقطہ 4 منتخب کیا جائے (مثال ۹.۱۶)۔

۹.۳ سوالات

حد کی تلاش

سوال ۹.۶۹ تا سوال ۹.۱۳۰ میں کون سی ترتیب $\{a_n\}$ مرتکز اور کون سی منفرج ہے؟ ہر مرتکز ترتیب کا حد تلاش کریں۔

سوال ۹.۶۹: $a_n = 2 + (0.1)^n$

سوال ۹.۷۰: $a_n = \frac{n+(-1)^n}{n}$

سوال ۹.۷۱: $a_n = \frac{1-2n}{1+2n}$

سوال ۹.۷۲: $a_n = \frac{2n+1}{1-3\sqrt{n}}$

سوال ۹.۷۳: $a_n = \frac{1-5n^4}{n^4+8n^3}$

سوال ۹.۷۴: $a_n = \frac{n+3}{n^2+5n+6}$

سوال ۹.۷۵: $a_n = \frac{n^2-2n+1}{n-1}$

سوال ۹.۷۶: $a_n = \frac{1-n^3}{70-4n^2}$

سوال ۹.۷۷: $a_n = 1 + (-1)^n$

سوال ۹.۷۸: $a_n = (-1)^n(1 - \frac{1}{n})$

سوال ۹.۷۹: $a_n = (\frac{n+1}{2n})(1 - \frac{1}{n})$

سوال ۹.۸۰: $a_n = (2 - \frac{1}{2^n})(3 + \frac{1}{2^n})$

سوال ۹.۸۱: $a_n = \frac{(-1)^{n+1}}{2n-1}$

۱۳۹۰۹ سوال ۹.۸۲: $a_n = (-\frac{1}{2})^n$

۱۳۹۱۰ سوال ۹.۸۳: $a_n = \sqrt{\frac{2n}{n+1}}$

۱۳۹۱۱ سوال ۹.۸۴: $a_n = \frac{1}{(0.9)^n}$

۱۳۹۱۲ سوال ۹.۸۵: $a_n = \sin(\frac{\pi}{2} + \frac{1}{n})$

۱۳۹۱۳ سوال ۹.۸۶: $a_n = n\pi\cos(n\pi)$

۱۳۹۱۴ سوال ۹.۸۷: $a_n = \frac{\sin n}{n}$

۱۳۹۱۵ سوال ۹.۸۸: $a_n = \frac{\sin^2 n}{2^n}$

۱۳۹۱۶ سوال ۹.۸۹: $a_n = \frac{n}{2^n}$

۱۳۹۱۷ سوال ۹.۹۰: $a_n = \frac{3^n}{n^3}$

۱۳۹۱۸ سوال ۹.۹۱: $a_n = \frac{\ln(n+1)}{\sqrt{n}}$

۱۳۹۱۹ سوال ۹.۹۲: $a_n = \frac{\ln n}{\ln 2n}$

۱۳۹۲۰ سوال ۹.۹۳: $a_n = 8^{1/n}$

۱۳۹۲۱ سوال ۹.۹۴: $a_n = (0.03)^{1/n}$

۱۳۹۲۲ سوال ۹.۹۵: $a_n = (1 + \frac{7}{n})^n$

۱۳۹۲۳ سوال ۹.۹۶: $a_n = (1 - \frac{1}{n})^n$

۱۳۹۲۴ سوال ۹.۹۷: $a_n = \sqrt[n]{10n}$

۱۳۹۲۵ سوال ۹.۹۸: $a_n = \sqrt[n]{n^2}$

۱۳۹۲۶ سوال ۹.۹۹: $a_n = (\frac{3}{n})^{1/n}$

۱۳۹۲۷ سوال ۹.۱۰۰: $a_n = (n+4)^{1/(n+4)}$

۱۳۹۲۸ سوال ۹.۱۰۱: $a_n = \frac{\ln n}{n^{1/n}}$

۱۳۹۲۹ سوال ۹.۱۰۲: $a_n = \ln n - \ln(n+1)$

۱۳۹۳۰ سوال ۹.۱۰۳: $a_n = \sqrt[n]{4^n n}$

۱۳۹۳۱ سوال ۹.۱۰۴: $a_n = \sqrt[n]{3^{2n+1}}$

۱۳۹۳۲ سوال ۹.۱۰۵: $a_n = \frac{n!}{n^n}$ (اشارہ: $\frac{1}{n}$ کے ساتھ موازنہ کریں)

۱۳۹۳۳ سوال ۹.۱۰۶: $a_n = \frac{(-4)^n}{n!}$

۱۳۹۳۴ سوال ۹.۱۰۷: $a_n = \frac{n!}{10^{6n}}$

۱۳۹۳۵ سوال ۹.۱۰۸: $a_n = \frac{n!}{2^n \cdot 3^n}$

۱۳۹۳۶ سوال ۹.۱۰۹: $a_n = (\frac{1}{n})^{1/(\ln n)}$

۱۳۹۳۷ سوال ۹.۱۱۰: $a_n = \ln(1 + \frac{1}{n})^n$

۱۳۹۳۸ سوال ۹.۱۱۱: $a_n = (\frac{3n+1}{3n-1})^n$

۱۳۹۳۹ سوال ۹.۱۱۲: $a_n = (\frac{n}{n+1})^n$

۱۳۹۴۰ سوال ۹.۱۱۳: $a_n = (\frac{x^n}{2n+1})^{1/n}, \quad x > 0$

۱۳۹۴۱ سوال ۹.۱۱۴: $a_n = (1 - \frac{1}{n^2})^n$

۱۳۹۴۲ سوال ۹.۱۱۵: $a_n = \frac{3^n \cdot 6^n}{2^{-n} \cdot n!}$

۱۳۹۴۳ سوال ۹.۱۱۶: $a_n = \frac{(10/11)^n}{(9/10)^n + (11/12)^n}$

۱۳۹۴۴ سوال ۹.۱۱۷: $a_n = \tanh n$

۱۳۹۴۵ سوال ۹.۱۱۸: $a_n = \sinh(\ln n)$

۱۳۹۴۶ سوال ۹.۱۱۹: $a_n = \frac{n^2}{2n-1} \sin \frac{1}{n}$

۱۳۹۴۷ سوال ۹.۱۲۰: $a_n = n(1 - \cos \frac{1}{n})$

۱۳۹۴۸ سوال ۹.۱۲۱: $a_n = \tan^{-1} n$

۱۳۹۴۹ سوال ۹.۱۲۲: $a_n = \frac{1}{\sqrt{n}} \tan^{-1} n$

۱۳۹۵۰ سوال ۹.۱۲۳: $a_n = (\frac{1}{3})^n + \frac{1}{\sqrt{2^n}}$

۱۳۹۵۱ سوال ۹.۱۲۴: $a_n = \sqrt[n]{n^2 + n}$

۱۳۹۵۲ سوال ۹.۱۲۵: $a_n = \frac{(\ln n)^{200}}{n}$

۱۳۹۵۳ سوال ۹.۱۲۶: $a_n = \frac{(\ln n)^5}{\sqrt{n}}$

۱۳۹۵۴ سوال ۹.۱۲۷: $a_n = n - \sqrt{n^2 - n}$

۱۳۹۵۵ سوال ۹.۱۲۸: $a_n = \frac{1}{\sqrt{n^2-1} - \sqrt{n^2+n}}$

۱۳۹۵۶ سوال ۹.۱۲۹: $a_n = \frac{1}{n} \int_1^n \frac{\mathrm{d}x}{x}$

۱۳۹۵۷ سوال ۹.۱۳۰: $a_n = \int_1^n \frac{\mathrm{d}x}{x^p}, \quad p > 1$

نظریہ اور مثالیں

سوال ۹.۱۳۱: ایک ترتیب کا پہلی جزو $x_1 = 1$ ہے۔ ہر اگلا جزو گزشتہ تمام اجزاء کا مجموعہ ہے:

$$x_{n+1} = x_1 + x_2 + \cdots + x_n$$

ابتدائی چند اجزاء لکھ کر عمومی جزو x_n کا کلیہ $n \geq 2$ کے لئے تلاش کریں۔

سوال ۹.۱۳۲: ناطق اعداد کی درج ذیل ترتیب میں نسب نما ایک ترتیب، شمار کنندہ دوسری ترتیب اور ان کی نسبت تیسری ترتیب ہے۔

$$\frac{1}{1}, \frac{3}{2}, \frac{7}{5}, \frac{17}{12}, \ldots, \frac{a}{b}, \frac{a+2b}{a+b}, \ldots$$

x_n اور y_n کو بالترتیب n ویں نسبت $r_n = \frac{x_n}{y_n}$ کا نسب نما اور شمار کنندہ تصور کریں۔

ا. $x_1^2 - 2y_1^2 = -1$ اور $x_2^2 - 2y_2^2 = +1$ کی تصدیق کریں۔ ساتھ ہی $a^2 - 2b^2 = \mp 1$ کی صورت میں $(a + 2b)^2 - 2(a+b)^2 = \pm 1$ کی تصدیق کریں۔

ب. n بڑھانے سے کسر $r_n = \frac{x_n}{y_n}$ ایک حد تک پہنچتا ہے۔ یہ حد کیا ہے؟ (اشارہ: جزو-ا استعمال کرتے ہوئے $r_n^2 - 2 = \pm(\frac{1}{y_n})^2$ دکھائیں اور دکھائیں کہ $y_n \geq n$ ہے۔)

سوال ۹.۱۳۳: **ترکیب نیوٹن**

ترکیب نیوٹن درج ذیل کلیہ توالی دیتا ہے۔

$$x_{n+1} = x_n - \frac{f(x_n)}{f'(x_n)}$$

کیا یہ ترتیب مرتکز ہے؟ اگر مرتکز ہے تب کس حد کو مرتکز ہے؟ تفاعل f پہچانیں جو درج ذیل ترتیب دیتا ہے۔

(الف) $$x_0 = 1, \qquad x_{n+1} = x_n - \frac{x_n^2 - 2}{2x_n} = \frac{x_n}{2} + \frac{1}{x_n}$$

(ب) $$x_0 = 1, \qquad x_{n+1} = x_n - \frac{\tan x_n - 1}{\sec^2 x_n}$$

(ج) $$x_0 = 1, \qquad x_{n+1} = x_n - 1$$

سوال ۹.۱۳۴: (الف) فرض کریں وقفہ $[0,1]$ میں تمام x پر $f(x)$ قابل تفرق ہے اور $f(0) = 0$ ہے۔ ترتیب $\{a_n\}$ کی تعریف $a_n = nf(\frac{1}{n})$ ہے۔ دکھائیں کہ $\lim_{n\to\infty} a_n = f'(0)$ ہو گا۔

جزو-الف کا نتیجہ استعمال کرتے ہوئے جزو-ب تا جزو-د میں دیے ترتیبات کی حدیں تلاش کریں۔ (ب) $a_n = n\tan^{-1}\frac{1}{n}$، (ج) $a_n = n(e^{1/n} - 1)$، (د) $a_n = n\ln(1 + \frac{2}{n})$

سوال ۹.۱۳۵: تین کی فیثاغوری جوڑی

اگر $a^2 + b^2 = c^2$ ہو تب a ، b اور c کو تین کی فیثاغوری جوڑی کہتے ہیں۔ فرض کریں a ایک طاق مثبت عدد صحیح جبکہ

$$c = \lceil \tfrac{a^2}{2} \rceil \quad \text{اور} \quad b = \lfloor \tfrac{a^2}{2} \rfloor^2$$

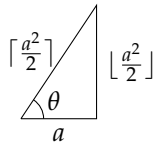

شکل ۹.۱۴: فیثاغوری تین کی جوڑی (سوال ۹.۱۳۵)

۱۳۹۷۶ بالترتیب $\frac{a^2}{2}$ کے عدد صحیح زمین اور عدد صحیح چھت تفاعل ہیں۔

۱۳۹۷۷ ا. دکھائیں $a^2 + b^2 = c^2$ (اشارہ: $a = 2n + 1$ لے کر b اور c کو n کی صورت میں لکھیں۔)

۱۳۹۷۸ ب. بلاواسطہ حساب سے یا شکل ۹.۱۴ کی مدد سے $\lim_{a\to\infty} \frac{\lfloor a^2/2 \rfloor}{\lceil a^2/2 \rceil}$ تلاش کریں۔

۱۳۹۷۹ سوال ۹.۱۳۶: $n!$ کا n واں جذر

۱۳۹۸۰

۱۳۹۸۱ ا. دکھائیں کہ $\lim_{a\to\infty} (2n\pi)^{1/(2n)} = 1$ ہے اور تخمین سٹرلنگ (مساوات ۹) استعمال کرتے ہوئے دکھائیں کہ n کی بڑی قیمتوں کے
۱۳۹۸۲ لئے $\sqrt[n]{n!} \approx \frac{n}{e}$ ہو گا۔

۱۳۹۸۳ ب. جہاں تک آپ کا کیلکولیٹر نتائج دے سکتا ہے وہاں تک $n = 40, 50, 60, \cdots$ کے لئے کیلکولیٹر سے حاصل $\sqrt[n]{n!}$ کے نتائج کا جزو-الف
۱۳۹۸۴ کے کلیہ سے حاصل نتائج کے ساتھ موازنہ کریں۔

۱۳۹۸۵ سوال ۹.۱۳۷: (ا) فرض کریں کسی بھی مثبت مستقل c کے لئے $\lim_{n\to\infty} (\frac{1}{n^c}) = 0$ ہے۔ دکھائیں $\lim_{n\to\infty} \frac{\ln n}{n^c} = 0$ ہو گا۔
۱۳۹۸۶ (ب) کسی بھی مثبت مستقل c کے لئے ثابت کریں کہ $\lim_{n\to\infty} (\frac{1}{n^c}) = 0$ ہو گا۔ (اشارہ: اگر $\epsilon = 0.001$ اور $c = 0.04$ ہوں
۱۳۹۸۷ تب $n > N$ کی صورت میں $\left|\frac{1}{n^c} - 0\right| < \epsilon$ کے لئے N کتنا بڑا ہونا چاہیے؟)

۱۳۹۸۸ سوال ۹.۱۳۸: اگر $\{a_n\}$ اور $\{b_n\}$ دونوں L پر مرتکز ہوں تب دکھائیں کہ ترتیب $a_1, b_1, a_2, b_2, \cdots, a_n, b_n, \cdots$ بھی
۱۳۹۸۹ L پر مرتکز ہو گی۔

۱۳۹۹۰ سوال ۹.۱۳۹: ثابت کریں $\lim_{n\to\infty} \sqrt[n]{n} = 1$

۱۳۹۹۱ سوال ۹.۱۴۰: ثابت کریں $\lim_{n\to\infty} x^{1/n} = 1$ جہاں $x > 0$ ہے۔

۱۳۹۹۲ سوال ۹.۱۴۱: ثابت کریں مسئلہ ۹.۳

۱۳۹۹۳ سوال ۹.۱۴۲: ثابت کریں مسئلہ ۹.۴

۱۳۹۹۴ **ترکیب پکاغ**

۱۳۹۹۵ سوال ۹.۱۴۳ تا سوال ۹.۱۴۸ میں دیے گئے مساوات کو ترکیب پکاغ سے حل کریں۔

۱۳۹۹۶ سوال ۹.۱۴۳: $\sqrt{x} = x$

۱۳۹۹۷ سوال ۹.۱۴۴: $x^2 = x$

سوال ۹.۱۴۵: $\cos x + x = 0$

سوال ۹.۱۴۶: $\cos x = x + 1$

سوال ۹.۱۴۷: $x - \sin x = 0.1$

سوال ۹.۱۴۸: $\sqrt{x} = 4 - \sqrt{1+x}$ (اشارہ: پہلے دونوں اطراف کا مربع لیں۔)

سوال ۹.۱۴۹: ترکیب پکاغ سے $\sqrt{x} = x$ کا حل $x = 1$ تلاش کریں جبکہ اس کے حل $x = 0$ اس ترکیب سے تلاش مت کریں۔ کیوں؟ (اشارہ: $y = x$ اور $y = \sqrt{x}$ کو ایک ساتھ ترسیم کریں۔)

سوال ۹.۱۵۰: ترکیب پکاغ میں $|x_0| \neq 1$ لے کر $x^2 = x$ کا حل $x = 0$ تلاش کیا جا سکتا ہے جبکہ اس کے حل $x = 1$ اس ترکیب سے تلاش نہیں کیا جا سکتا ہے۔ کیوں؟ (اشارہ: $y = x$ اور $y = x^2$ کو ایک ساتھ ترسیم کریں۔)

اکائی سے زیادہ ڈھلوان

ہم نے مثال ۹.۱۶ میں دیکھا کہ $g(x) = 4x - 12$ کے مقررہ نقطہ کو ترکیب پکاغ سے حاصل نہیں کیا جا سکتا ہے جبکہ $g^{-1}(x) = \frac{1}{4}x + 3$ کا مقررہ نقطہ ترکیب پکاغ سے حاصل کیا جا سکتا ہے چونکہ کسی بھی وقفہ پر g^{-1} کے تفرق کی مطلق مقدار $\frac{1}{4}$ ہے جو 1 سے کم ہے۔ مثال ۹.۱۴ میں ہم نے دیکھا کہ g^{-1} کا مقررہ نقطہ $x = 4$ ہے جو $g(4) = 4(4) - 12 = 4$ کی وجہ سے g کا بھی مقررہ نقطہ ہے۔ یوں g^{-1} کا مقررہ نقطہ تلاش کرتے ہوئے ہم نے g کا مقررہ نقطہ بھی تلاش کیا۔

ایک تفاعل اور اس کے الٹ کے مقررہ نقطے ایک دوسرے جیسے ہوں گے۔ ایک تفاعل اور اس کے الٹ کی ترسیمات لکیر $y = x$ کے لحاظ سے تشاکلی ہوتے ہیں لہٰذا اس لکیر کو ایک ہی نقطہ پر مس کرتے ہیں۔

ہم اب دیکھتے ہیں کہ ترکیب پکاغ کا استعمال وسیع ہے۔ اب فرض کریں g ایک ایک ہے اور اس کا پہلا تفرق استمراری ہے جس کی قیمت کسی ایسے بند وقفہ I پر 1 سے زیادہ ہے جس پر g کا مقررہ نقطہ پایا جاتا ہے۔ یوں g^{-1} کا تفرق جو g' کا بالعکس متناسب ہو گا، کی مقدار I پر 1 سے کم ہو گی۔ ترکیب پکاغ سے I پر g^{-1} کا مقررہ نقطہ تلاش کیا جا سکتا ہے جو g کا بھی مقررہ نقطہ ہو گا۔ اس عمل کو سمجھنے کی خاطر ترکیب پکاغ سے سوال ۹.۱۵۱ اور سوال ۹.۱۵۲ میں مقررہ نقطے تلاش کریں۔

سوال ۹.۱۵۱: $g(x) = 2x + 3$

سوال ۹.۱۵۲: $g(x) = 1 - 4x$

۹.۴ لامتناہی تسلسل

سائنس اور ریاضیات میں تفاعل کو عموماً درج ذیل صورت کی لامتناہی کثیر رکنی کی صورت میں لکھا جاتا ہے۔

$$\frac{1}{1-x} = 1 + x + x^2 + x^3 + \cdots + x^n + \cdots, \quad |x| < 1$$

جدول ۹.۴: تفاعل کے جزوی مجموعے۔

جزوی مجموعہ		قیمت
پہلا:	$s_1 = 1$	$2-1$
دوسرا:	$s_2 = 1+\frac{1}{2}$	$2-\frac{1}{2}$
تیسرا:	$s_3 = 1+\frac{1}{2}+\frac{1}{4}$	$2-\frac{1}{4}$
$\vdots$		
nواں:	$s_n = 1+\frac{1}{2}+\frac{1}{4}+\cdots+\frac{1}{2^{n-1}}$	$2-\frac{1}{2^{n-1}}$

x کی کسی بھی جائز قیمت کے لئے ہم لامتناہی تعداد کے مستقلات کا مجموعہ، جس کو لامتناہی تسلسل کہا جاتا ہے، لے کر کثیر رکنی کی قیمت حاصل کرتے ہیں۔ اس حصہ اور اگلے چار حصوں میں ہم لامتناہی تسلسل سے واقف ہونے کی کوشش کرتے ہیں۔

تسلسل اور جزوی مجموعے

ہم پوچھتے ہیں کہ درج ذیل فقرے کا کیا مطلب ہے؟

$$1+\frac{1}{2}+\frac{1}{4}+\frac{1}{8}+\frac{1}{16}+\cdots$$

چونکہ ہم لامتناہی مستقلات کو کبھی بھی جمع نہیں کر سکتے ہیں لہٰذا ہم پہلی جزو سے شروع کر کے بتدریج ایک ایک جزو ساتھ جمع کر کے جزوی مجموعہ میں کسی نقش کو پہچاننے کی کوشش کرتے ہیں۔ انہیں جدول ۹.۴ میں دکھایا گیا ہے جن میں یقیناً ایک نقش پایا جاتا ہے۔ جزوی مجموعوں کی ترتیب کا n واں جزو درج ذیل ہے۔

$$a_n = 2-\frac{1}{2^{n-1}}$$

چونکہ $\lim_{n\to\infty}(1/2^n) = 0$ ہے لہٰذا اس ترتیب کا حد 2 ہے۔ یوں درج ذیل لامتناہی تسلسل کا مجموعہ 2 ہوگا۔

$$1+\frac{1}{2}+\frac{1}{4}+\cdots+\frac{1}{2^{n-1}}+\cdots$$

کیا اس تسلسل کے کسی بھی متناہی تعداد کے اجزاء کا مجموعہ 2 ہوگا؟ نہیں۔ کیا ہم لامتناہی تعداد کے مستقل کو ایک ایک کر کے جمع کر سکتے ہیں؟ نہیں۔ اس کے باوجود ہم تسلسل کی حدوں کی تعریف کو $n \to \infty$ پر تسلسل کے جزوی مجموعے کا حد لے سکتے ہیں جو مذکورہ بالا تسلسل کے لئے 2 ہوگا (شکل ۹.۱۵)۔ ترتیب اور تسلسل کا علم ہمیں متناہی مجموعوں کی قید سے آزاد کرتا ہے۔

تعریف: دیے گئے اعداد کی ترتیب $\{a_n\}$ کی صورت میں درج ذیل صورت کا فقرہ **لامتناہی تسلسل**[۲۴] کہلاتا ہے۔

$$a_1+a_2+a_3+\cdots+a_n+\cdots$$

[۲۴] infiniteseries

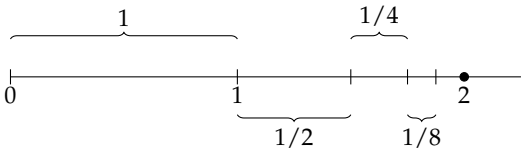

شکل ۹.۱۵: جیسے جیسے لمبائیاں 1 ، 1/2 ، 1/4 ، 1/8 ، . . . جمع کی جائیں، مجموعہ 2 کے قریب تر ہوتا جاتا ہے۔

۱۴۰۳۶ عدد a_n کو اس تسلسل کا n **واں جزو**[۲۵] کہتے ہیں۔ ترتیب $\{s_n\}$ جس کی تعریف درج ذیل ہے

$$\begin{aligned} s_1 &= a_1 \\ s_2 &= a_1 + a_2 \\ &\vdots \\ s_n &= a_1 + a_2 + \cdots + a_n = \sum_{k=1}^{n} a_k \\ &\vdots \end{aligned}$$

۱۴۰۳۷ کو اس تسلسل کے **جزوی مجموعوں کی ترتیب** کہتے ہیں اور s_n کو n واں جزوی مجموعہ کہتے ہیں۔ اگر جزوی مجموعوں کی ترتیب L پر مرتکز ہو تب ہم کہتے
۱۴۰۳۸ ہیں کہ یہ تسلسل **مرتکز** ہے اور اس کا مجموعہ L ہے۔ ایسی صورت میں ہم درج ذیل بھی لکھتے ہیں۔

$$a_1 + a_2 + \cdots + a_n + \cdots = \sum_{k=1}^{\infty} a_n = L$$

۱۴۰۳۹ اگر تسلسل کے جزوی مجموعوں کی ترتیب مرتکز نہ ہو تب ہم کہتے ہیں کہ تسلسل **منفرج** ہے۔

۱۴۰۴۰ □

۱۴۰۴۱ تسلسل $a_1 + a_2 + \cdots + a_n + \cdots$ پر غور کرنے سے پہلے ضروری نہیں کہ ہمیں معلوم ہو کہ آیا یہ تسلسل مرتکز یا منفرج ہے۔ بہر حال اس
۱۴۰۴۲ تسلسل کو درج ذیل صورت میں لکھنا مفید ہوتا ہے۔

$$\sum_{n=1}^{\infty} a_n, \quad \sum_{k=1}^{\infty} a_k, \quad \sum a_n \text{ (مجموعہ 1 تا } \infty \text{ ہوگا)}$$

---

[۲۵] nthterm

۱۴۰۴۳ ہندسی تسلسل

۱۴۰۴۴ درج ذیل صورت کے تسلسل کو **ہندسی تسلسل**[۲۶] کہتے ہیں جہاں a اور r مقررہ حقیقی اعداد ہیں اور $a \neq 0$ ہے۔

$$a + ar + ar^2 + \cdots + ar^{n-1} + \cdots = \sum_{n=1}^{\infty} ar^{n-1} \tag{۱}$$

۱۴۰۴۵ درج ذیل میں نسبت r مثبت ہے

$$a + \frac{1}{2} + \frac{1}{4} + \cdots + \left(\frac{1}{2}\right)^{n-1} + \cdots$$

۱۴۰۴۶ جبکہ درج ذیل میں r منفی ہے۔

$$a - \frac{1}{3} + \frac{1}{9} - \cdots + \left(-\frac{1}{3}\right)^{n-1} + \cdots$$

۱۴۰۴۷ اگر $r = 1$ ہو تب مساوات ۱ کا n واں جزوی مجموعہ

$$s_n = a + a(1) + a(1)^2 + \cdots + a(1)^{n-1} = na$$

۱۴۰۴۸ ہو گا جو $\lim_{n\to\infty} s_n = \mp\infty$ کی وجہ سے منفرج ہے جہاں علامت، a کی علامت پر منحصر ہو گی۔ اگر $r = -1$ ہو تب تسلسل کے جزوی
۱۴۰۴۹ مجموعے یک بعد دیگرے a اور 0 ہوں گے لہٰذا تسلسل منفرج ہو گا۔ اگر $|r| \neq 1$ تب تسلسل کا ارتکاز یا انفراج درج ذیل طریقہ سے جاننا ممکن ہو گا۔

$$\begin{aligned}
s_n &= a + ar + ar^2 + \cdots + ar^{n-2} + ar^{n-1} && \\
rs_n &= ar + ar^2 + \cdots + ar^{n-1} + ar^n && s_n \text{ کو } r \text{ سے ضرب دیں} \\
s_n - rs_n &= a - ar^n && s_n \text{ سے } rs_n \text{ منفی کریں} \\
s_n(1-r) &= a(1-r^n) && \text{تجزی} \\
s_n &= \frac{a(1-r^n)}{1-r}, \quad (r \neq 1) && r \neq 1 \text{ کی صورت میں } s_n \text{ کا حل}
\end{aligned}$$

۱۴۰۵۰ اگر $|r| < 1$ ہو تب $r^n \to 0$ $n \to \infty$ سے (حصہ ۹.۲) لہٰذا $s_n = \frac{a}{1-r}$ ہوں گے۔ اس کے برعکس $|r| > 1$ کی صورت میں
۱۴۰۵۱ $|r^n| \to \infty$ کی وجہ سے تسلسل منفرج ہو گا۔

۱۴۰۵۲ یوں $|r| < 1$ کی صورت میں ہندسی تسلسل $a + ar + ar^2 + \cdots + ar^{n-1} + \cdots$ عدد $\frac{a}{1-r}$ پر مرتکز ہو گا:

$$\sum_{n=1}^{\infty} ar^{n-1} = \frac{a}{1-r}, \quad |r| < 1 \tag{۲}$$

---

[۲۶] geometricseries

۱۴۰۵۳ $|r| > 1$ کی صورت میں تسلسل منفرج ہو گا۔ مساوات ۲ صرف اس صورت درست ہو گا جب مجموعہ $n = 1$ سے شروع ہو۔

۱۴۰۵۴ مثال ۹.۱۷: درج ذیل ہندسی تسلسل میں $a = \frac{1}{9}$ اور $r = \frac{1}{3}$ ہیں۔

$$\frac{1}{9} + \frac{1}{27} + \frac{1}{81} + \cdots = \sum_{n=1}^{\infty} \frac{1}{9}\left(\frac{1}{3}\right)^{n-1} = \frac{1/9}{1-(1/3)} = \frac{1}{6}$$

۱۴۰۵۵ □

۱۴۰۵۶ مثال ۹.۱۸: درج ذیل ہندسی تسلسل میں $a = -\frac{5}{4}$ اور $r = -\frac{1}{4}$ ہیں۔

$$\sum_{n=1}^{\infty} \frac{(-1)^n 5}{4^n} = -\frac{5}{4} + \frac{5}{16} - \frac{5}{64} + \cdots$$

۱۴۰۵۷ یہ ہندسی تسلسل -1 پر مرتکز ہے۔

$$\frac{a}{1-r} = \frac{-5/4}{1+(1/4)} = -1$$

۱۴۰۵۸ □

۱۴۰۵۹ مثال ۹.۱۹: آپ ایک گیند کو افقی سطح پر a میٹر بلندی سے گراتے ہیں۔ یہ گیند h بلندی سے گر کر rh بلندی تک اچھلتا ہے جہاں r مثبت اور 1 سے
۱۴۰۶۰ کم ہے۔ یہ گیند اوپر اور نیچے سفر کرتے ہوئے کل کتنا فاصلہ طے کرتا ہے؟

۱۴۰۶۱ حل: کل فاصلہ درج ذیل ہو گا۔

$$s = a + \underbrace{2ar + 2ar^2 + 2ar^3 + \cdots}_{2ar/(1-r)} = a + \frac{2ar}{1-r} = a\,\frac{1+r}{1-r}$$

۱۴۰۶۲ یوں $a = 6\,\mathrm{m}$ اور $r = \frac{2}{3}$ کی صورت میں طے شدہ فاصل درج ذیل ہو گا۔

$$s = 6\,\frac{1+(2/3)}{1-(2/3)} = 6\left(\frac{5/3}{1/3}\right) = 30\,\mathrm{m}$$

۱۴۰۶۳ □

۱۴۰۶۴ مثال ۹.۲۰: دہراتے اعشاری

۱۴۰۶۵ دہراتے اعشاری $5.23\,23\,23\cdots$ کو دو عدد صحیح کا نسبت لکھیں۔

۱۴۰۶۶ حل:

$$\begin{aligned}
5.23\,23\,23\cdots &= 5 + \frac{23}{100} + \frac{23}{(100)^2} + \frac{23}{(100)^3} + \cdots \\
&= 5 + \frac{23}{100}\underbrace{\left(1 + \frac{1}{100} + \left(\frac{1}{100}\right)^2 + \cdots\right)}_{1/(1-0.01)} \qquad a = 1,\ r = \tfrac{1}{100} \\
&= 5 + \frac{23}{100}\left(\frac{1}{0.99}\right) = 5 + \frac{23}{99} = \frac{518}{99}
\end{aligned}$$

۱۴۰۶۷ □

۱۴۰۶۸ دوربینی تسلسل

۱۴۰۶۹ مرتکز ہندسی تسلسل کے مجموعہ کے کلیہ کی طرح تسلسل کے مجموعوں کے کلیات بہت کم پائے جاتے ہیں لہٰذا ہمیں تسلسل کے مجموعہ کی اندازاً قیمت پر گزارا کرنا
۱۴۰۷۰ ہوگا۔ البتہ اگلی مثال میں بھی ایسا تسلسل دیا گیا ہے جس کا بالکل ٹھیک مجموعہ تلاش کیا جا سکتا ہے۔

۱۴۰۷۱ مثال ۹.۲۱: تسلسل $\sum_{n=1}^{\infty} \frac{1}{n(n+1)}$ کا مجموعہ تلاش کریں۔

۱۴۰۷۲ حل: جزوی مجموعوں کی ترتیب میں ایسا نقش دیکھنے کی کوشش کرتے ہیں جس سے s_n کا کلیہ اخذ کیا جا سکتا ہو۔ ہم جزوی کسر

$$\frac{1}{k(k+1)} = \frac{1}{k} - \frac{1}{k+1} \tag{۳}$$

۱۴۰۷۳ استعمال کر کے جزوی مجموعہ

$$\sum_{n=1}^{k} \frac{1}{n(n+1)} = \frac{1}{1\cdot 2} + \frac{1}{2\cdot 3} + \cdots + \frac{1}{k\cdot(k+1)}$$

۱۴۰۷۴ کو

$$s_k = \left(\frac{1}{1} - \frac{1}{2}\right) + \left(\frac{1}{2} - \frac{1}{3}\right) + \cdots + \left(\frac{1}{k} - \frac{1}{k+1}\right) \tag{۴}$$

۱۴۰۷۵ لکھتے ہیں۔ قوسین کھول کر یکساں اجزاء کاٹ کر درج ذیل حاصل ہوتا ہے۔

$$s_n = 1 - \frac{1}{k+1} \tag{۵}$$

۱۴۰۷۶ اب $k \to \infty$ سے $s_k \to 1$ حاصل ہوگا۔ یہ تسلسل منفرج ہے اور اس کا مجموعہ 1 ہے (شکل ۹.۱۶)۔

$$\sum_{n=1}^{\infty} \frac{1}{n(n+1)} = 1$$

۱۴۰۷۷ □

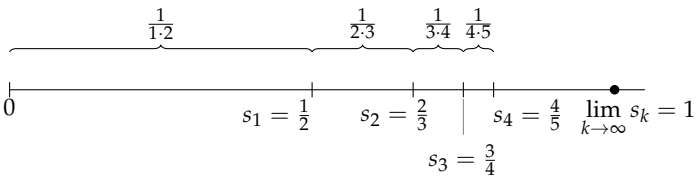

شکل ۹.۱۶: جزوی مجموعے (مثال ۹.۲۱)

منفرج تسلسل

وہ ہندسی تسلسل جن میں $|r| \geq 1$ ہو کے علاوہ دیگر منفرج تسلسل بھی پائے جاتے ہیں۔

مثال ۹.۲۲: درج ذیل تسلسل اس لئے منفرج ہے کہ اس کے جزوی مجموعے کسی بھی عدد L سے بڑھ جاتے ہیں۔ جزوی مجموعہ $s_n = 1 + 4 + 9 + \cdots + n^2$ کی قیمت $n = 1$ کے بعد n^2 سے بڑی ہوتی ہے۔

$$\sum_{n=1}^{\infty} n^2 = 1 + 4 + 9 + \cdots + n^2 + \cdots$$

□

مثال ۹.۲۳: درج ذیل تسلسل کے جزوی مجموعے آخر کار ہر منتخب عدد سے بڑھ جاتے ہیں لہٰذا یہ تسلسل منفرج ہے۔ چونکہ ہر جزو 1 سے بڑا ہے لہٰذا n اجزاء کا مجموعہ n سے بڑا ہو گا۔

$$\sum_{n=1}^{\infty} \frac{n+1}{n} = \frac{2}{1} + \frac{3}{2} + \frac{4}{3} + \cdots + \frac{n+1}{1} + \cdots$$

□

انفراج کا n واں جزو پرکھ

تسلسل $\sum_{n=1}^{\infty} a_n$ صرف اس صورت مرتکز ہو سکتا ہے جب $\lim_{n\to\infty} a_n$ صفر کے برابر ہو۔ اس حقیقت کو سمجھنے کی خاطر فرض کریں تسلسل کا مجموعہ S ہے اور اس کا n واں جزوی مجموعہ $s_n = a_1 + a_2 + \cdots + a_n$ ہے۔ جب n بڑا ہو تب s_n اور s_{n-1} دونوں S کے بہت قریب ہوں گے لہٰذا ان کا فرق a_n بھی صفر کے قریب ہو گا۔ باضابطہ طور اس کو درج ذیل لکھا جائے گا۔

$$a_n = s_n - s_{n-1} \quad \to \quad S - S = 0 \qquad \text{قاعدہ فرق برائے ترتیبات}$$

مسئلہ ۹.۶: اگر $\sum_{n=1}^{\infty} a_n$ مرتکز ہو تب $a_n \to 0$ ہو گا۔

دھیان رہے کہ مسئلہ ۹.۶ یہ نہیں کہتا ہے کہ $a_n \to 0$ کی صورت میں $\sum_{n=1}^{\infty} a_n$ ہو گا۔ عین ممکن ہے کہ $n \to 0$ ہو اور تسلسل تب بھی منفرج ہو۔

n واں جزو پرکھ انفراج

اگر $\lim_{n\to\infty} a_n$ غیر موجود ہو یا صفر سے ہٹ کر ہو تب $\sum_{n=1}^{\infty} a_n$ منفرج ہو گا۔

□

مثال ۹.۲۴: n ویں جزو کا پرکھ استعمال کرتے ہوئے درج ذیل حاصل ہوتا ہے۔

ا. $n^2 \to \infty$ کی وجہ سے $\sum\limits_{n=1}^{\infty} n^2$ منفرج ہو گا۔

ب. $\frac{n+1}{n} \to 1$ کی وجہ سے $\sum\limits_{n=1}^{\infty} \frac{n+1}{n}$ منفرج ہو گا۔

ج. چونکہ $\lim\limits_{n\to\infty} (-1)^{n+1}$ غیر موجود ہے لہٰذا $\sum\limits_{n=1}^{\infty} (-1)^{n+1}$ منفرج ہو گا۔

د. چونکہ $\lim\limits_{n\to\infty} \frac{-n}{2n+5} = -\frac{1}{2} \neq 0$ (صفر نہیں ہے) لہٰذا $\sum\limits_{n=1}^{\infty} \frac{-n}{2n+5}$ منفرج ہو گا۔

□

مثال ۹.۲۵: اگرچہ $a_n \to 0$ ہے لیکن درج ذیل تسلسل منفرج ہے۔ اس تسلسل کے اجزاء ایسی ترتیب دیتے ہیں جو 0 پر منفرج ہے لیکن تسلسل منفرج ہے۔

$$1 + \underbrace{\frac{1}{2} + \frac{1}{2}}_{\text{2 اجزاء}} + \underbrace{\frac{1}{4} + \frac{1}{4} + \frac{1}{4} + \frac{1}{4}}_{\text{4 اجزاء}} + \cdots + \underbrace{\frac{1}{2^n} + \frac{1}{2^n} + \cdots + \frac{1}{2^n}}_{\text{}2^n \text{ اجزاء}} + \cdots$$

□

تسلسل کا ملاپ

ہم دو منفرج تسلسل کو جزو در جزو جمع کر کے یا جزو در جزو ایک دوسرے سے منفی کر کے یا انہیں مستقل سے ضرب کرتے ہوئے نئے منفرج تسلسل حاصل کر سکتے ہیں۔

مسئلہ ۹.۷: اگر $\sum a_n = A$ اور $\sum b_n = B$ منفرج تسلسل ہوں تب درج ذیل ہوں گے۔

قاعدہ مجموعہ: $\sum(a_n + b_n) = \sum a_n + \sum b_n = A + B$

قاعدہ فرق: $\sum(a_n - b_n) = \sum a_n - \sum b_n = A - B$

۱۳۱۱۲ قاعدہ ضرب مستقل: $\sum ka_n = k\sum a_n = kA$ (کوئی بھی عدد k)

۱۳۱۱۳ ثبوت: یہ تین قواعد حصہ ۹.۲ میں مسئلہ ۹.۲ میں دیے گئے ترتیبات کے مماثل قواعد سے حاصل ہوتے ہیں۔ تسلسل کے لئے قاعدہ مجموعہ ثابت کرنے کی
۱۳۱۱۴ خاطر ہم درج ذیل لیتے ہیں۔

$$A_n = a_1 + a_2 + \cdots + a_n, \quad B_n = b_1 + b_2 + \cdots + b_n$$

۱۳۱۱۵ اب $\sum(a_n + b_n)$ کے جزوی مجموعے درج ذیل ہوں گے۔

$$\begin{aligned} S_n &= (a_1 + b_1) + (a_2 + b_2) + \cdots + (a_n + b_n) \\ &= (a_1 + a_2 + \cdots + a_n) + (b_1 + b_2 + \cdots + b_n) \\ &= A_n + B_n \end{aligned}$$

۱۳۱۱۶ چونکہ $A_n \to A$ اور $B_n \to B$ ہیں لہٰذا قاعدہ مجموعہ برائے ترتیبات کے تحت $S_n \to A + B$ ہوگا۔ قاعدہ فرق کا ثبوت بھی اسی طرح کا
۱۳۱۱۷ ہے۔

۱۳۱۱۸ تسلسل کے لئے قاعدہ ضرب مستقل ثابت کرنے کی خاطر ہم دیکھتے ہیں کہ $\sum ka_n$ کے جزوی مجموعے درج ذیل ترتیب دیتے ہیں

$$S_n = ka_1 + ka_2 + \cdots + ka_n = k(a_1 + a_2 + \cdots + a_n) = kA_n$$

۱۳۱۱۹ جو قاعدہ مستقل مضرب برائے ترتیبات کے تحت kA کو مرتکز ہوگا۔

۱۳۱۲۰ □

۱۳۱۲۱ مسئلہ ۹.۷ کے دو ضمنی نتائج درج ذیل ہیں۔

۱۳۱۲۲ ا. منفرج تسلسل کو کسی بھی غیر صفر مستقل سے ضرب دینے سے منفرج تسلسل حاصل ہوگا۔

۱۳۱۲۳ ب. اگر $\sum a_n$ مرتکز اور $\sum b_n$ منفرج ہوں تب $\sum(a_n + b_n)$ اور $\sum(a_n - b_n)$ دونوں منفرج ہوں گے۔

۱۳۱۲۴ ہم ان کے ثبوت پیش نہیں کریں گے۔

مثال ۹.۲۶:

(الف)
$$\begin{aligned}\sum_{n=1}^{\infty}\frac{3^{n-1}-1}{6^{n-1}} &= \sum_{n=1}^{\infty}\left(\frac{1}{2^{n-1}}-\frac{1}{6^{n-1}}\right)\\ &= \sum_{n=1}^{\infty}\frac{1}{2^{n-1}}-\sum_{n=1}^{\infty}\frac{1}{6^{n-1}} && \text{قاعدہ فرق}\\ &= \frac{1}{1-(1/2)}-\frac{1}{1-(1/6)} && \text{ہندسی تسلسل میں } a=1 \text{ اور } r=\tfrac{1}{2},\ \tfrac{1}{6} \text{ ہیں}\\ &= 2-\frac{6}{5}\\ &= \frac{4}{5}\end{aligned}$$

(ب)
$$\begin{aligned}\sum_{n=1}^{\infty}\frac{4}{2^{n-1}} &= 4\sum_{n=1}^{\infty}\frac{1}{2^{n-1}} && \text{قاعدہ ضرب مستقل}\\ &= 4\left(\frac{1}{1-(1/2)}\right) && \text{ہندسی تسلسل میں } a=1 \text{ اور } r=\tfrac{1}{2} \text{ ہیں}\\ &= 8\end{aligned}$$

□

اجزاء کی شمولیت یا کٹوتی

تسلسل میں متناہی تعداد کے اجزاء شامل کرنے سے یا تسلسل سے متناہی تعداد کے اجزاء کی کٹوتی کرنے سے تسلسل کی ارتکاز یا انفراج پر کوئی اثر نہیں ہوتا ہے البتہ منفرج تسلسل کی قیمت عموماً تبدیل ہو گی۔ اگر $\sum_{n=1}^{\infty} a_n$ مرتکز ہو تب کسی بھی $k > 1$ کے لئے $\sum_{n=k}^{\infty} a_n$ بھی مرتکز ہو گا۔ مزید درج ذیل ہو گا۔

$$\sum_{n=1}^{\infty} a_n = a_1 + a_2 + \cdots + a_{k-1} + \sum_{n=k}^{\infty} a_n \tag{۶}$$

اسی طرح اگر کسی بھی k کے لئے $\sum_{n=k}^{\infty} a_n$ مرتکز ہو تب $\sum_{n=1}^{\infty} a_n$ بھی مرتکز ہو گا۔ یوں درج ذیل ہوں گے۔

$$\sum_{n=1}^{\infty}\frac{1}{5^n} = \frac{1}{5}+\frac{1}{25}+\frac{1}{125}+\sum_{n=4}^{\infty}\frac{1}{5^n} \tag{۷}$$

$$\sum_{n=4}^{\infty}\frac{1}{5^n} = \left(\sum_{n=1}^{\infty}\frac{1}{5^n}\right)-\frac{1}{5}-\frac{1}{25}-\frac{1}{125} \tag{۸}$$

اشاریہ کی ترتیب نو

جب تک کسی تسلسل کے اجزاء کا نظم تبدیل نہ کیا جائے ہم ارتکاز تبدیل کیے بغیر تسلسل کے اشاریہ کی ترتیب نو کر سکتے ہیں۔ اشاریہ کی ابتدائی قیمت کو h اکائیاں بلند کرنے کے لئے ہم a_n میں n کی جگہ $n-h$ لکھیں گے:

$$\sum_{n=1}^{\infty} a_n = \sum_{n=1+h}^{\infty} a_{n-h} = a_1 + a_2 + a_3 + \cdots$$

اشاریہ کی ابتدائی قیمت کو h اکائیاں نیچے کرنے کے لئے ہم a_n میں n کی جگہ $n+h$ لکھیں گے:

$$\sum_{n=1}^{\infty} a_n = \sum_{n=1-h}^{\infty} a_{n+h} = a_1 + a_2 + a_3 + \cdots$$

یہ افقی منتقل کے مترادف ہے۔

مثال ۹.۲۷: ہم ہندسی تسلسل

$$a + \frac{1}{2} + \frac{1}{4} + \cdots$$

کو درج ذیل لکھ سکتے ہیں۔

$$\sum_{n=0}^{\infty} \frac{1}{2^n}, \quad \sum_{n=5}^{\infty} \frac{1}{2^{n-5}}, \quad \sum_{n=-4}^{\infty} \frac{1}{2^{n+4}}$$

تسلسل کی قیمت پر اشاریہ کے انتخاب کا کوئی اثر نہیں ہو گا۔ □

ہم اس اشاریہ کو ترجیح دیتے ہیں جو سادہ فقرے دیتا ہو۔

سوالات

n ویں جزوی مجموعہ کی تلاش

سوال ۹.۱۵۳ تا سوال ۹.۱۵۸ میں دیے تسلسل کے n ویں جزوی مجموعہ کا کلیہ تلاش کریں۔ اس کلیہ کو استعمال کرتے ہوئے تسلسل (اگر مرتکز ہو) کا مجموعہ حاصل کریں۔

سوال ۹.۱۵۳: $2 + \frac{2}{3} + \frac{2}{9} + \frac{2}{27} + \cdots + \frac{2}{3^{n-1}} + \cdots$

سوال ۹.۱۵۴: $\frac{9}{100} + \frac{9}{100^2} + \frac{9}{100^3} + \cdots + \frac{9}{100^n} + \cdots$

سوال ۹.۱۵۵: $1 - \frac{1}{2} + \frac{1}{4} - \frac{1}{8} + \cdots + (-1)^{n-1}\frac{1}{2^{n-1}} + \cdots$

۱۴۱۴۸ سوال ۹.۱۵۶: $1-2+4-8+\cdots+(-1)^{n-1}2^{n-1}+\cdots$

۱۴۱۴۹ سوال ۹.۱۵۷: $\frac{1}{2\cdot 3}+\frac{1}{3\cdot 4}+\frac{1}{4\cdot 5}+\cdots+\frac{1}{(n+1)(n+2)}+\cdots$

۱۴۱۵۰ سوال ۹.۱۵۸: $\frac{5}{1\cdot 2}+\frac{5}{2\cdot 3}+\frac{5}{3\cdot 4}+\cdots+\frac{5}{n(n+1)}+\cdots$

۱۴۱۵۱ ہندسی اجزاء والے تسلسل

۱۴۱۵۲ سوال ۹.۱۵۹ تا سوال ۹.۱۶۶ میں تسلسل کے ابتدائی چند اجزاء لکھنے کے بعد تسلسل کا مجموعہ تلاش کریں۔

۱۴۱۵۳ سوال ۹.۱۵۹: $\sum_{n=0}^{\infty}\frac{(-1)^n}{4^n}$

۱۴۱۵۴ سوال ۹.۱۶۰: $\sum_{n=2}^{\infty}\frac{1}{4^n}$

۱۴۱۵۵ سوال ۹.۱۶۱: $\sum_{n=1}^{\infty}\frac{7}{4^n}$

۱۴۱۵۶ سوال ۹.۱۶۲: $\sum_{n=0}^{\infty}(-1)^n\frac{5}{4^n}$

۱۴۱۵۷ سوال ۹.۱۶۳: $\sum_{n=0}^{\infty}\left(\frac{5}{2^n}+\frac{1}{3^n}\right)$

۱۴۱۵۸ سوال ۹.۱۶۴: $\sum_{n=0}^{\infty}\left(\frac{5}{2^n}-\frac{1}{3^n}\right)$

۱۴۱۵۹ سوال ۹.۱۶۵: $\sum_{n=0}^{\infty}\left(\frac{1}{2^n}+\frac{(-1)^n}{5^n}\right)$

۱۴۱۶۰ سوال ۹.۱۶۶: $\sum_{n=0}^{\infty}\left(\frac{2^{n+1}}{5^n}\right)$

۱۴۱۶۱ دوربینی تسلسل

۱۴۱۶۲ سوال ۹.۱۶۷ تا سوال ۹.۱۷۴ میں جزوی کسر استعمال کرتے ہوئے تسلسل کا مجموعہ تلاش کریں۔

۱۴۱۶۳ سوال ۹.۱۶۷: $\sum_{n=1}^{\infty}\frac{4}{(4n-3)(4n+1)}$

۱۴۱۶۴ سوال ۹.۱۶۸: $\sum_{n=1}^{\infty}\frac{6}{(2n-1)(2n+1)}$

۱۴۱۶۵ سوال ۹.۱۶۹: $\sum_{n=1}^{\infty}\frac{40n}{(2n-1)^2(2n+1)^2}$

۱۴۱۶۶ سوال ۹.۱۷۰: $\sum_{n=1}^{\infty} \frac{2n+1}{n^2(n+1)^2}$

۱۴۱۶۷ سوال ۹.۱۷۱: $\sum_{n=1}^{\infty} \left(\frac{1}{\sqrt{n}} - \frac{1}{\sqrt{n+1}}\right)$

۱۴۱۶۸ سوال ۹.۱۷۲: $\sum_{n=1}^{\infty} \left(\frac{1}{2^{1/n}} - \frac{1}{2^{1/(n+1)}}\right)$

۱۴۱۶۹ سوال ۹.۱۷۳: $\sum_{n=1}^{\infty} \left(\frac{1}{\ln(n+2)} - \frac{1}{\ln(n+1)}\right)$

۱۴۱۷۰ سوال ۹.۱۷۴: $\sum_{n=1}^{\infty} (\tan^{-1}(n) - \tan^{-1}(n+1))$

۱۴۱۷۱ **ارتکاز اور انفراج**

۱۴۱۷۲ سوال ۹.۱۷۵ تا سوال ۹.۱۹۲ میں سے کون سے تسلسل مرتکز اور کون سے منفرج ہیں؟ اپنے جواب کی وجہ پیش کریں۔ مرتکز تسلسل کے مجموعے تلاش کریں۔

۱۴۱۷۳ سوال ۹.۱۷۵: $\sum_{n=0}^{\infty} \left(\frac{1}{\sqrt{2}}\right)^n$

۱۴۱۷۴ سوال ۹.۱۷۶: $\sum_{n=0}^{\infty} (\sqrt{2})^n$

۱۴۱۷۵ سوال ۹.۱۷۷: $\sum_{n=1}^{\infty} (-1)^{n+1} \frac{3}{2^n}$

۱۴۱۷۶ سوال ۹.۱۷۸: $\sum_{n=1}^{\infty} (-1)^{n+1} n$

۱۴۱۷۷ سوال ۹.۱۷۹: $\sum_{n=0}^{\infty} \cos n\pi$

۱۴۱۷۸ سوال ۹.۱۸۰: $\sum_{n=0}^{\infty} \frac{\cos n\pi}{5^n}$

۱۴۱۷۹ سوال ۹.۱۸۱: $\sum_{n=0}^{\infty} e^{-2n}$

۱۴۱۸۰ سوال ۹.۱۸۲: $\sum_{n=1}^{\infty} \ln \frac{1}{n}$

۱۴۱۸۱ سوال ۹.۱۸۳: $\sum_{n=1}^{\infty} \frac{2}{10^n}$

۱۴۱۸۲ سوال ۹.۱۸۴: $\sum_{n=0}^{\infty} \frac{1}{x^n}, \quad |x| > 1$

سوال ۹.۱۸۵: $\sum_{n=0}^{\infty} \frac{2^n-1}{3^n}$

سوال ۹.۱۸۶: $\sum_{n=1}^{\infty} \left(1-\frac{1}{n}\right)^n$

سوال ۹.۱۸۷: $\sum_{n=0}^{\infty} \frac{n!}{1000^n}$

سوال ۹.۱۸۸: $\sum_{n=1}^{\infty} \frac{n^n}{n!}$

سوال ۹.۱۸۹: $\sum_{n=1}^{\infty} \ln\left(\frac{n}{n+1}\right)$

سوال ۹.۱۹۰: $\sum_{n=1}^{\infty} \ln\left(\frac{n}{2n+1}\right)$

سوال ۹.۱۹۱: $\sum_{n=0}^{\infty} \left(\frac{e}{\pi}\right)^n$

سوال ۹.۱۹۲: $\sum_{n=0}^{\infty} \frac{e^{n\pi}}{\pi^{ne}}$

ہندسی تسلسل

سوال ۹.۱۹۳ تا سوال ۹.۱۹۶ میں ہندسی تسلسل دیے گئے ہیں۔ تسلسل کے چند ابتدائی اجزاء لکھ کر a اور r تلاش کر کے تسلسل کو مجموعہ معلوم کریں۔ اس کے بعد عدم مساوات $|r| < 1$ کو x کی صورت میں لکھ کر x کی وہ قیمت دریافت کریں جو عدم مساوات کو مطمئن کرتی ہو اور جس کے لئے تسلسل مرتکز ہو۔

سوال ۹.۱۹۳: $\sum_{n=0}^{\infty} (-1)^n x^n$

سوال ۹.۱۹۴: $\sum_{n=0}^{\infty} (-1)^n x^{2n}$

سوال ۹.۱۹۵: $\sum_{n=0}^{\infty} 3\left(\frac{x-1}{2}\right)^n$

سوال ۹.۱۹۶: $\sum_{n=0}^{\infty} \frac{(-1)^n}{2}\left(\frac{1}{3+\sin x}\right)^n$

سوال ۹.۱۹۷ تا سوال ۹.۲۰۲ میں x کی وہ قیمتیں معلوم کریں جن کے لئے دیا گیا ہندسی تسلسل مرتکز ہو۔ x کی ان قیمتوں کے لئے تسلسل کے مجموعہ کو x کی صورت میں لکھیں۔

سوال ۹.۱۹۷: $\sum_{n=0}^{\infty} 2^n x^n$

۱۳۲۰۲ سوال ۹.۱۹۸: $\sum_{n=0}^{\infty} (-1)^n x^{-2n}$

۱۳۲۰۳ سوال ۹.۱۹۹: $\sum_{n=0}^{\infty} (-1)^n (x+1)^n$

۱۳۲۰۴ سوال ۹.۲۰۰: $\sum_{n=0}^{\infty} \left(-\frac{1}{2}\right)^n (x-3)^n$

۱۳۲۰۵ سوال ۹.۲۰۱: $\sum_{n=0}^{\infty} \sin^n x$

۱۳۲۰۶ سوال ۹.۲۰۲: $\sum_{n=0}^{\infty} (\ln x)^n$

۱۳۲۰۷ سوال ۹.۲۰۳ تا سوال ۹.۲۱۰ میں دیے عدد کو دو عدد صحیح کا نسبت لکھیں۔

۱۳۲۰۸ سوال ۹.۲۰۳: $0.\overline{23} = 0.23\ 23\ 23\ \cdots$

۱۳۲۰۹ سوال ۹.۲۰۴: $0.\overline{234} = 0.234\ 234\ 234\ \cdots$

۱۳۲۱۰ سوال ۹.۲۰۵: $0.\overline{7} = 0.7777\cdots$

۱۳۲۱۱ سوال ۹.۲۰۶: $0.\overline{d} = 0.dddd\cdots$ جہاں d ایک ہندسہ ہے۔

۱۳۲۱۲ سوال ۹.۲۰۷: $0.0\overline{6} = 0.06666\cdots$

۱۳۲۱۳ سوال ۹.۲۰۸: $1.\overline{414} = 1.414\ 414\ 414\ \cdots$

۱۳۲۱۴ سوال ۹.۲۰۹: $1.24\overline{123}\ 123\ 123\ \cdots$

۱۳۲۱۵ سوال ۹.۲۱۰: $3.\overline{142857} = 3.142857\ 142857\ 142857\ \cdots$

۱۳۲۱۶ **نظریہ اور مثالیں**

۱۳۲۱۷ سوال ۹.۲۱۱: ہم سوال ۹.۱۵۷ کے تسلسل کو درج ذیل لکھ سکتے ہیں۔

$$\sum_{n=1}^{\infty} \frac{1}{(n+1)(n+2)} \quad \text{اور} \quad \sum_{n=-1}^{\infty} \frac{1}{(n+3)(n+4)}$$

۱۳۲۱۸ اس تسلسل کو یوں لکھیں کہ اس کا پہلا جزو (الف) $n=-2$، (ب) $n=0$، (ج) $n=5$ سے شروع ہوتا ہو۔

۱۳۲۱۹ سوال ۹.۲۱۲: ہم سوال ۹.۱۵۸ کے تسلسل کو درج ذیل لکھ سکتے ہیں۔

$$\sum_{n=1}^{\infty} \frac{5}{n(n+1)} \quad \text{اور} \quad \sum_{n=0}^{\infty} \frac{5}{(n+1)(n+2)}$$

۱۳۲۲۰ اس تسلسل کو یوں لکھیں کہ اس کا پہلا جزو (الف) $n=-1$، (ب) $n=3$، (ج) $n=20$ سے شروع ہوتا ہو۔

سوال ۹.۲۱۳: غیر صفر اجزاء کا ایسا لامتناہی تسلسل لکھیں جس کے مجموعہ (الف) 1، (ب) -3، (ج) 0 ہو۔ کیا آپ غیر صفر اجزاء پر مبنی کسی بھی عدد پر مرتکز تسلسل لکھ سکتے ہیں؟ تفصیل پیش کریں۔

سوال ۹.۲۱۴: دو ایسے لامتناہی منفرج تسلسل بنائیں جن کا جزو در جزو مجموعہ مرتکز ہو۔

سوال ۹.۲۱۵: ایسی مثال پیش کریں جہاں $\sum \frac{a_n}{b_n}$ منفرج ہو اگرچہ $\sum a_n$ اور $\sum b_n$ دونوں مرتکز ہوں جہاں کوئی b_n بھی صفر نہیں ہے۔

سوال ۹.۲۱۶: ایسے ہندسی تسلسل $A = \sum a_n$ اور $B = \sum b_n$ تلاش کریں کہ $\sum a_n b_n$ منفرج ہو لیکن AB کے برابر نہ ہو۔

سوال ۹.۲۱۷: ایسی مثال دیں جہاں $\sum \frac{a_n}{b_n}$ کسی عدد، جو $\frac{A}{B}$ نہیں ہو، پر مرتکز ہو اگرچہ $A = \sum a_n$ ، $B = \sum b_n \neq 0$ ہوں اور کوئی b_n بھی 0 نہ ہو۔

سوال ۹.۲۱۸: اگر $\sum a_n$ مرتکز ہو اور تمام n کے لئے $a_n > 0$ ہو تب کیا $\sum \frac{1}{a_n}$ کے بارے میں کچھ کہا جا سکتا ہے؟ اپنے جواب کی وجہ پیش کریں۔

سوال ۹.۲۱۹: ایک منفرج تسلسل کے ساتھ متناہی تعداد کے اجزاء شامل کرنے یا کٹوتی کرنے سے کیا ہو گا؟ اپنے جواب کی وجہ پیش کریں۔

سوال ۹.۲۲۰: اگر $\sum a_n$ مرتکز اور $\sum b_n$ منفرج ہو تب ان کے جزو در جزو مجموعہ $\sum(a_n + b_n)$ کے بارے میں کیا کہا جا سکتا ہے۔ اپنے جواب کی وجہ پیش کریں۔

سوال ۹.۲۲۱: ایسا ہندسی تسلسل $\sum ar^{n-1}$ بنائیں جو 5 پر مرتکز ہو اور جہاں (الف) $a = 2$، (ب) $a = \frac{13}{2}$ ہو۔

سوال ۹.۲۲۲: b کی وہ قیمت دریافت کریں جو درج ذیل کو مطمئن کرتی ہو۔

$$1 + e^b + e^{2b} + e^{3b} + \cdots = 9$$

سوال ۹.۲۲۳: r کی کس قیمت کے لئے درج ذیل لامتناہی تسلسل مرتکز ہے؟ مرتکز تسلسل کا مجموعہ تلاش کریں۔

$$1 + 2r + r^2 + 2r^3 + r^4 + 2r^5 + r^6 + \cdots$$

سوال ۹.۲۲۴: دکھائیں کہ ایک مرتکز ہندسی تسلسل کی جگہ اس کا جزوی مجموعہ s_n استعمال کرنے سے پیدا خلل $L - s_n$ کی قیمت $\frac{ar^n}{1-r}$ ہو گی۔

سوال ۹.۲۲۵: ایک گیند کو $4\,\mathrm{m}$ بلندی سے گرایا جاتا ہے۔ ہر بار h کی بلندی سے گر کر یہ گیند اچھل کر $0.75h$ بلند تک واپس پہنچتا ہے۔ یہ گیند کل کتنا فاصل طے کرتا ہے؟

سوال ۹.۲۲۶: ایک گیند کو $4\,\mathrm{m}$ بلندی سے گرایا جاتا ہے (سوال ۹.۲۲۵)۔ یہ گیند کتنی دیر کے لئے حرکت میں رہتا ہے۔ (اشارہ: کلیہ $s = 4.9t^2$ سے $t = \sqrt{\frac{s}{4.9}}$ حاصل ہوتا ہے۔)

سوال ۹.۲۲۷: ایک چوکور جس کا رقبہ $4\,\mathrm{m}^2$ ہے کے اندر تین چوکور شکل ۹.۲۲۷ میں دکھائے گئے ہیں۔ ہر چوکور کے اضلاع کے وسطی نقطوں کو ملا کر اس کے اندر چوکور حاصل کیا جاتا ہے۔ اس طرح یک بعد دیگرے ہر چوکور کے اندر دوسرا چوکور بناتے ہوئے لامتناہی چوکور حاصل کئے جاتے ہیں۔ ان تمام چوکوروں کے رقبوں کا مجموعہ تلاش کریں۔

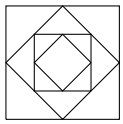

شکل ۹.۱۷: چوکور کے اندر چوکور (سوال ۹.۲۲۷)

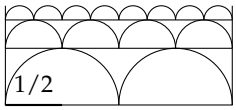

شکل ۹.۱۸: نصف دائروں کی قطاریں (سوال ۹.۲۲۸)

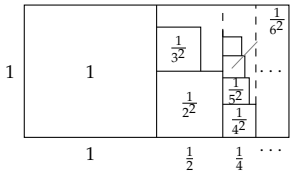

شکل ۹.۱۹: رقبوں کا مجموعہ 2 سے کم ہے (سوال ۹.۲۳۰)

سوال ۹.۲۲۸: نصف دائروں کی صفوں کو شکل ۹.۱۸ میں دکھایا گیا ہے جہاں نچلی صف میں رداس $\frac{1}{2}$ ہے۔ n ویں صف میں نصف دائروں کی تعداد 2^n اور رداس $1/2^n$ ہو گا۔ تمام نصف دائروں کے رقبوں کا مجموعہ تلاش کریں۔

سوال ۹.۲۲۹: متناہی رقبہ گھیرنے والی بلگے ون کوچ برفانی روئی (صفحہ ۲۵۳) کی لمبائی لامتناہی ہوتی ہے۔ اس حقیقت کو سمجھنے کی خاطر فرض کریں ہم ضلع 1 کی مساوی الاضلاع مثلث سے شروع کرتے ہیں۔

ا. n ویں منحنی C_n کی لمبائی L_n تلاش کر کے دکھائیں کہ $\lim_{n\to\infty} L_n = \infty$ ہو گا۔

ب. C_n کا رقبہ S_n تلاش کر کے $\lim_{n\to\infty} S_n$ معلوم کریں۔

سوال ۹.۲۳۰: ہم اس حقیقت کی غیر رسمی ثبوت کہ $\sum_{n=1}^{\infty} \frac{1}{n^2}$ کی قیمت 2 سے کم ہے شکل ۹.۱۹ کی مدد سے پیش کرتے ہیں۔ آپ کو کیا نظر آتا ہے؟

۹.۵ غیر منفی اجزاء والے تسلسل کا تکملی پرکھ

ہم تسلسل $\sum a_n$ کے بارے میں دو سوالات کرتے ہیں:

ا. کیا یہ تسلسل مرتکز ہے؟

ب. اگر تسلسل مرتکز ہو تب اس کا مجموعہ کیا ہے؟

اس باب کا باقی بیشتر حصہ پہلے سوال کا جواب دے گا۔ حقیقتاً دوسرا سوال بھی اتنا ہی اہم ہے اور ہم اس پر بعد میں غور کریں گے۔

اس حصہ میں اور اگلے دو حصوں میں ایسے تسلسل پر غور کیا جائے گا جن میں منفی اجزاء نہیں پائے جاتے ہوں۔ اس شرط کی وجہ سے ان تسلسل کے جزوی مجموعے غیر گھٹتے ترتیبات دیتے ہیں اور وہ غیر گھٹتے ترتیبات جو اوپر سے محدود ہوں ہر صورت مرتکز ہوتے ہیں (مسئلہ ۹.۱)۔ یہ دکھانے کی خاطر کہ ایک غیر منفی اجزاء والا تسلسل مرتکز ہے، ہمیں صرف اتنا دکھانا ہو گا کہ اس تسلسل کے جزوی مجموعے اوپر سے محدود ہیں۔

ابتدا میں یوں معلوم ہوتا ہے جیسے اس ترکیب سے ارتکاز کی تصدیق کرنے کے باوجود تسلسل کا مجموعہ نہ جاننا ایک عیب ہے۔ کیا بہتر ہوتا کہ ہم جزوی مجموعوں کے کلیات سے تسلسل کا مجموعہ بلا واسطہ تلاش کرتے۔ حقیقت میں ہمیں عموماً جزوی مجموعوں کے کلیات معلوم نہیں ہوں گے اور اسی وجہ سے ہمیں دو قدمی طریقہ

کا استعمال کرنا ہوگا جہاں پہلے قدم میں تسلسل کا ارتکاز جانا جاتا ہے اور دوسرے قدم میں مجموعے کی تخمینی قیمت تلاش کی جاتی ہے۔

غیر گھٹتے جزوی مجموعے

فرض کریں کہ تمام n کے لئے $a_n \geq 0$ ہو اور $\sum_{n=1}^{\infty} a_n$ لا متناہی تسلسل ہو۔ تب چونکہ $s_{n+1} = s_n + a_n$ ہے لہٰذا ہر جزوی مجموعہ گزشتہ جزوی مجموعے سے بڑا یا اس کے برابر ہوگا:

$$s_1 \leq s_2 \leq s_3 \leq \cdots \leq s_n \leq s_{n+1} \leq \cdots$$

اب جزوی مجموعے غیر گھٹتا ترتیب بناتے ہیں اور مسئلہ ۹.۱ کے تحت یہ تسلسل صرف اور صرف اس صورت مرتکز ہوگا جب اس کے جزوی مجموعات اوپر سے محدود ہوں۔

ضمنی نتیجہ ۹.۱: برائے مسئلہ ۹.۱ غیر منفی اجزاء کا تسلسل $\sum_{n=1}^{\infty} a_n$ صرف اور صرف اس صورت مرتکز ہوگا جب اس کے جزوی مجموعات اوپر سے محدود ہوں۔

مثال ۹.۲۸: ہارمونی تسلسل

درج ذیل تسلسل کو **ہارمونی تسلسل**[۲۷] کہتے ہیں۔

$$\sum_{n=1}^{\infty} \frac{1}{n} = 1 + \frac{1}{2} + \frac{1}{3} + \cdots + \frac{1}{n} + \cdots$$

اس کے جزوی مجموعوں کی کوئی بالائی حد بندی نہیں پائی جاتی ہے لہٰذا یہ مرتکز تسلسل ہے۔ اس حقیقت کو جاننے کی خاطر ہم اجزاء کے گروہ بناتے ہیں۔

$$1 + \frac{1}{2} + \underbrace{\left(\frac{1}{3} + \frac{1}{4}\right)}_{>\frac{2}{4}=\frac{1}{2}} + \underbrace{\left(\frac{1}{5} + \frac{1}{6} + \frac{1}{7} + \frac{1}{8}\right)}_{>\frac{4}{8}=\frac{1}{2}} + \underbrace{\left(\frac{1}{9} + \frac{1}{10} + \cdots + \frac{1}{16}\right)}_{>\frac{8}{16}=\frac{1}{2}} + \cdots$$

پہلے دو اجزاء کا مجموعہ 1.5 ہے۔ اگلے دو اجزاء کا مجموعہ $\frac{1}{3} + \frac{1}{4}$ ہے جو $\frac{1}{2} = \frac{1}{4} + \frac{1}{4}$ سے بڑا ہے۔ اگلے چار اجزاء کا مجموعہ $\frac{1}{5} + \frac{1}{6} + \frac{1}{7} + \frac{1}{8}$ ہے جو $\frac{1}{2} = \frac{1}{8} + \frac{1}{8} + \frac{1}{8} + \frac{1}{8}$ سے بڑا ہے۔ اگلے آٹھ اجزاء کا مجموعہ $\frac{1}{9} + \frac{1}{10} + \frac{1}{11} + \frac{1}{12} + \frac{1}{13} + \frac{1}{14} + \frac{1}{15} + \frac{1}{16}$ ہے جو $\frac{1}{2} = \frac{1}{16} + \frac{1}{16} + \frac{1}{16} + \frac{1}{16} + \frac{1}{16} + \frac{1}{16} + \frac{1}{16} + \frac{1}{16}$ سے بڑا ہے۔ اسی طرح اگلے سولہ اجزاء کا مجموعہ بھی $\frac{1}{2}$ سے بڑا ہو گا، وغیرہ وغیرہ۔ یوں جزو $\frac{1}{2^{n+1}}$ پر اختتام پذیر 2^n اجزاء کا مجموعہ $\frac{2^n}{2^{n+1}} = \frac{1}{2}$ سے بڑا ہوگا۔ جزوی مجموعات کی ترتیب اوپر سے محدود نہیں ہے: اگر $n = 2^k$ ہو تب جزوی مجموعہ s_n کی قیمت $\frac{k}{2}$ سے بڑی ہوگی۔ ہارمونی تسلسل منفرج ہے۔ □

دھیان رہے کہ ہارمونی تسلسل کا n واں جزو $\frac{1}{n}$ ہے جو 0 پر مرتکز ہے لیکن ہارمونی تسلسل منفرج ہے۔ یوں ہارمونی تسلسل کے انفراج کو دریافت کرنے میں انفراج کا n ویں جزو پرکھنا ناکام ہوتا ہے۔

---

[۲۷] harmonicseries

تکملی پرکھ

ہم ہارمونی تسلسل سے تعلق رکھنے والے ایک تسلسل، جس کا n واں جزو $\frac{1}{n^2}$ ہے، کو استعمال کرتے ہوئے تکملی پرکھ کو متعارف کرتے ہیں۔

مثال ۹.۲۹: کیا درج ذیل تسلسل مرتکز ہے؟

$$\sum_{n=1}^{\infty} \frac{1}{n^2} = 1 + \frac{1}{4} + \frac{1}{9} + \frac{1}{16} + \cdots + \frac{1}{n^2} + \cdots$$

حل: ہم $\int_1^\infty \frac{\mathrm{d}x}{x^2}$ کے ساتھ موازنہ کرتے ہوئے $\sum_{n=1}^{\infty} \frac{1}{n^2}$ کی ارتکاز دریافت کرتے ہیں۔ موازنہ کرنے کی خاطر ہم تسلسل کے اجزاء کو تفاعل $f(x) = \frac{1}{x^2}$ کی قیمتیں تصور کرتے ہیں اور ان قیمتوں کو منحنی $y = \frac{1}{x^2}$ کے نیچے مستطیل رقبے تصور کرتے ہیں۔

جیسا شکل ۹.۲۰ میں دکھایا گیا ہے درج ذیل ہوگا۔

$$\begin{aligned}
s_n &= \frac{1}{1^2} + \frac{1}{2^2} + \frac{1}{3^2} + \cdots + \frac{1}{n^2} \\
&= f(1) + f(2) + f(3) + \cdots + f(n) \\
&< f(1) + \int_1^n \frac{1}{x^2}\,\mathrm{d}x \\
&< 1 + \int_1^\infty \frac{1}{x^2}\,\mathrm{d}x \\
&< 1 + 1 = 2 \qquad \text{(مثال ۸.۴۵)}
\end{aligned}$$

یوں $\sum_{n=1}^{\infty} \frac{1}{n^2}$ کے جزوی مجموعات اوپر سے (2 تک) محدود ہیں لہٰذا یہ تسلسل مرتکز ہوگا۔ اس تسلسل کا مجموعہ درحقیقت $\frac{\pi^2}{6} \approx 1.64493$ ہے۔ □

تکملی پرکھ

فرض کریں $\{a_n\}$ مثبت اجزاء کی ترتیب ہے۔ مزید فرض کریں کہ $a_n = f(n)$ ہے جہاں تمام $x \geq N$ کے لئے (N مثبت عدد صحیح ہے) متغیر x کا f استمراری، مثبت اور گھٹتا تفاعل ہے۔ تب تسلسل $\sum_{n=N}^{\infty} a_n$ اور تکمل $\int_N^\infty f(x)\,\mathrm{d}x$ دونوں مرتکز یا دونوں منفرج ہوں گے۔

□

ثبوت پرکھ: ہم $N = 1$ کے لئے پہلے اس پرکھ کو ثابت کرتے ہیں۔ عمومی N کے لئے ثبوت اسی طرح کا ہے۔

ہم اس مفروضہ سے شروع کرتے ہیں کہ تمام n کے لئے f گھٹتا تفاعل اور $f(n) = a_n$ ہیں۔ یوں شکل ۹.۲۱-الف میں وہ مستطیل جن کے رقبے $a_1, a_2, \cdots, a_n$ ہیں کا مجموعی رقبہ، $x = 1$ تا $x = n+1$ ترسیم $y = f(x)$ کے نیچے رقبہ سے زیادہ ہے یعنی:

$$\int_1^{n+1} f(x)\,\mathrm{d}x \leq a_1 + a_2 + \cdots + a_n$$

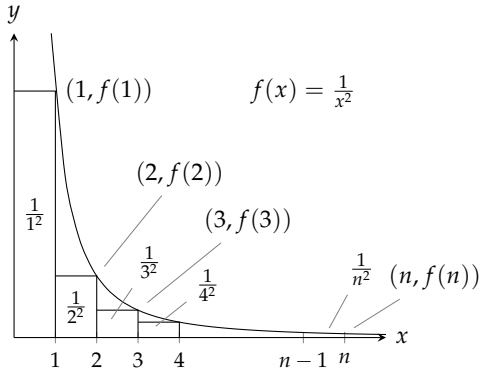

شکل ۹.۲۰: رقبہ کا موازنہ (مثال ۹.۲۹)

۱۴۲۹۸ شکل ۹.۲۱-ب میں مستطیلوں کو ہر نقطہ کے بائیں جانب بنایا گیا ہے۔ اگر ہم وقتی طور پر پہلی مستطیل، جس کا رقبہ a_1 ہے، کو نظر انداز کریں تب درج ذیل ہو
۱۴۲۹۹ گا۔

$$a_2 + a_3 + \cdots + a_n \leq \int_1^n f(x)\,\mathrm{d}x$$

۱۴۳۰۰ اگر ہم a_1 کو بھی شامل کریں تب درج ذیل لکھا جا سکتا ہے۔

$$a_1 + a_2 + a_3 + \cdots + a_n \leq a_1 + \int_1^n f(x)\,\mathrm{d}x$$

۱۴۳۰۱ ان نتائج سے

$$\int_1^{n+1} f(x)\,\mathrm{d}x \leq a_1 + a_2 + \cdots + a_n \leq a_1 + \int_1^n f(x)\,\mathrm{d}x \tag{۱}$$

۱۴۳۰۲ حاصل ہوتا ہے۔ اگر $\int_1^\infty f(x)\,\mathrm{d}x$ متناہی ہو تب دائیں عدم مساوات کے تحت $\sum a_n$ متناہی ہو گا۔ اگر $\int_1^\infty f(x)\,\mathrm{d}x$ لامتناہی ہو تب بائیں
۱۴۳۰۳ عدم مساوات کے تحت $\sum a_n$ لامتناہی ہو گا۔

۱۴۳۰۴ یوں تسلسل اور تکمل دونوں مرتکز یا دونوں منفرج ہوں گے۔

۱۴۳۰۵ □

۱۴۳۰۶ دھیان رہے کہ ارتکاز کی صورت میں تکمل اور تسلسل کی قیمتیں مختلف ہو سکتی ہیں جیسا مثال ۹.۲۹ میں دیکھا گیا جہاں $\sum_{n=1}^\infty \frac{1}{n^2} = \frac{\pi^2}{6}$ اور
۱۴۳۰۷ $\int_1^\infty \frac{1}{x^2}\,\mathrm{d}x = 1$ تھے۔

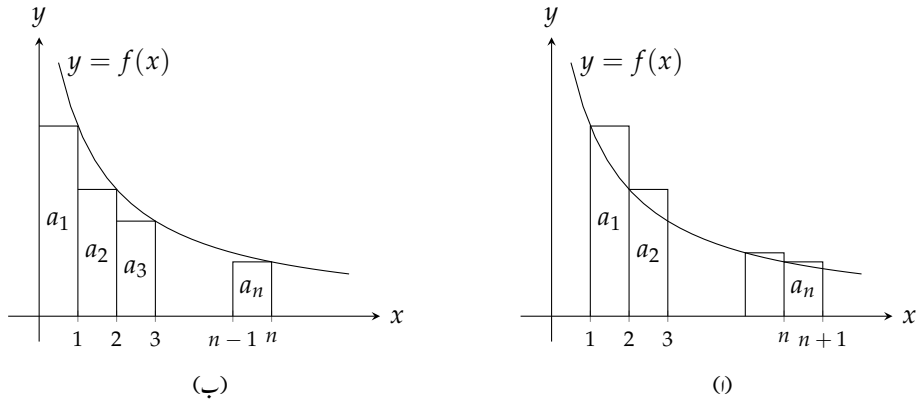

شکل ۹.۲۱: تکملی پرکھ کے تحت تسلسل $\sum_{n=1}^{\infty} a_n$ اور تکمل $\int_1^{\infty} f(x)\,\mathrm{d}x$ دونوں مرتکز یا دونوں منفرج ہوں گے۔

۱۴۳۰۸ مثال ۹.۳۰: دکھائیں کہ p تسلسل

$$\sum_{n=1}^{\infty} \frac{1}{n^p} = \frac{1}{1^p} + \frac{1}{2^p} + \frac{1}{3^p} + \cdots + \frac{1}{n^p} + \cdots \tag{۲}$$

۱۴۳۰۹ جہاں p حقیقی مستقل ہے، $p > 1$ کی صورت میں مرتکز جبکہ $p \leq 1$ کی صورت میں منفرج ہو گا۔

۱۴۳۱۰ حل: اگر $p > 1$ ہو تب $f(x) = \frac{1}{x^p}$ متغیر x کا مثبت گھٹتا تفاعل ہو گا۔ اب چونکہ

$$\begin{aligned}
\int_1^{\infty} \frac{1}{x^p}\,\mathrm{d}x = \int_1^{\infty} x^{-p}\,\mathrm{d}x &= \lim_{b\to\infty} \left[\frac{x^{-p+1}}{-p+1}\right]_1^b \\
&= \frac{1}{1-p} \lim_{b\to\infty} \left(\frac{1}{b^{p-1}} - 1\right) \\
&= \frac{1}{1-p}(0-1) = \frac{1}{p-1}
\end{aligned}$$

۱۴۳۱۱ ہے لہٰذا تکملی پرکھ کے تحت یہ تسلسل مرتکز ہو گا۔

۱۴۳۱۲ اگر $p < 1$ ہو تب $1 - p > 0$ ہو گا لہٰذا درج ذیل لکھا جا سکتا ہے۔

$$\int_1^{\infty} \frac{1}{x^p}\,\mathrm{d}x = \frac{1}{1-p} \lim_{b\to\infty} (b^{1-p} - 1) = \infty$$

۱۴۳۱۳ تکملی پرکھ کے تحت یہ تسلسل منفرج ہو گا۔

۱۴۳۱۴ اگر $p = 1$ ہو تب درج ذیل منفرج (ہارمونی) تسلسل پایا جائے گا۔

$$1 + \frac{1}{2} + \frac{1}{3} + \cdots + \frac{1}{n} + \cdots$$

۱۴۳۱۵ یوں $p > 1$ لے ارتکاز لیکن $p < 1$ اور $p = 0$ کے لئے انفراج پایا جاتا ہے۔ □

۱۴۳۱۶ **سوالات**

۱۴۳۱۷ **ارتکاز اور انفراج کی معلومات**

۱۴۳۱۸ سوال ۹.۲۳۱ تا سوال ۹.۲۶۰ میں کون سا تسلسل مرتکز اور کان سا تسلسل منفرج ہے؟ اپنے جواب کی وجہ پیش کریں۔ (جوابات دیکھتے ہوئے یاد رہے کہ تسلسل
۱۴۳۱۹ کی ارتکاز یا انفراج جاننے کے کئی طریقے ہو سکتے ہیں)

۱۴۳۲۰ سوال ۹.۲۳۱: $\sum_{n=1}^{\infty} \frac{1}{10^n}$

۱۴۳۲۱ سوال ۹.۲۳۲: $\sum_{n=1}^{\infty} e^{-n}$

۱۴۳۲۲ سوال ۹.۲۳۳: $\sum_{n=1}^{\infty} \frac{n}{n+1}$

۱۴۳۲۳ سوال ۹.۲۳۴: $\sum_{n=1}^{\infty} \frac{5}{n+1}$

۱۴۳۲۴ سوال ۹.۲۳۵: $\sum_{n=1}^{\infty} \frac{3}{\sqrt{n}}$

۱۴۳۲۵ سوال ۹.۲۳۶: $\sum_{n=1}^{\infty} \frac{-2}{n\sqrt{n}}$

۱۴۳۲۶ سوال ۹.۲۳۷: $\sum_{n=1}^{\infty} -\frac{1}{8^n}$

۱۴۳۲۷ سوال ۹.۲۳۸: $\sum_{n=1}^{\infty} -\frac{8}{n}$

۱۴۳۲۸ سوال ۹.۲۳۹: $\sum_{n=2}^{\infty} \frac{\ln n}{n}$

۱۴۳۲۹ سوال ۹.۲۴۰: $\sum_{n=2}^{\infty} \frac{\ln n}{\sqrt{n}}$

۱۴۳۳۰ سوال ۹.۲۴۱: $\sum_{n=1}^{\infty} \frac{2^n}{3^n}$

۱۲۳۳۱ سوال ۹.۲۴۲: $\sum_{n=1}^{\infty} \frac{5^n}{4^n+3}$

۱۲۳۳۲ سوال ۹.۲۴۳: $\sum_{n=0}^{\infty} \frac{-2}{n+1}$

۱۲۳۳۳ سوال ۹.۲۴۴: $\sum_{n=1}^{\infty} \frac{1}{2n-1}$

۱۲۳۳۴ سوال ۹.۲۴۵: $\sum_{n=1}^{\infty} \frac{2^n}{n+1}$

۱۲۳۳۵ سوال ۹.۲۴۶: $\sum_{n=1}^{\infty} \frac{1}{\sqrt{n}(\sqrt{n}+1)}$

۱۲۳۳۶ سوال ۹.۲۴۷: $\sum_{n=2}^{\infty} \frac{\sqrt{n}}{\ln n}$

۱۲۳۳۷ سوال ۹.۲۴۸: $\sum_{n=1}^{\infty} \left(1+\frac{1}{n}\right)^n$

۱۲۳۳۸ سوال ۹.۲۴۹: $\sum_{n=1}^{\infty} \frac{1}{(\ln 2)^n}$

۱۲۳۳۹ سوال ۹.۲۵۰: $\sum_{n=1}^{\infty} \frac{1}{(\ln 3)^n}$

۱۲۳۴۰ سوال ۹.۲۵۱: $\sum_{n=3}^{\infty} \frac{1/n}{(\ln n)\sqrt{\ln^2 n-1}}$

۱۲۳۴۱ سوال ۹.۲۵۲: $\sum_{n=1}^{\infty} \frac{1}{n(1+\ln^2 n)}$

۱۲۳۴۲ سوال ۹.۲۵۳: $\sum_{n=1}^{\infty} n \sin \frac{1}{n}$

۱۲۳۴۳ سوال ۹.۲۵۴: $\sum_{n=1}^{\infty} n \tan \frac{1}{n}$

۱۲۳۴۴ سوال ۹.۲۵۵: $\sum_{n=1}^{\infty} \frac{e^n}{1+e^{2n}}$

۱۲۳۴۵ سوال ۹.۲۵۶: $\sum_{n=1}^{\infty} \frac{2}{1+e^n}$

۱۲۳۴۶ سوال ۹.۲۵۷: $\sum_{n=1}^{\infty} \frac{8\tan^{-1} n}{1+n^2}$

سوال ۹.۲۵۸: $\sum_{n=1}^{\infty} \frac{n}{n^2+1}$

سوال ۹.۲۵۹: $\sum_{n=1}^{\infty} \operatorname{sech} n$

سوال ۹.۲۶۰: $\sum_{n=1}^{\infty} \operatorname{sech}^2 n$

نظریہ اور مثالیں

سوال ۹.۲۶۱ اور سوال ۹.۲۶۲ میں اگر کسی a کے لئے تسلسل مرتکز ہو تب a تلاش کریں۔

سوال ۹.۲۶۱: $\sum_{n=1}^{\infty} \left(\frac{a}{n+2} - \frac{1}{n+4}\right)$

سوال ۹.۲۶۲: $\sum_{n=3}^{\infty} \left(\frac{1}{n-1} - \frac{2a}{n+1}\right)$

سوال ۹.۲۶۳:

ا. شکل ۹.۲۰ اور شکل ۹.۲۱ کی طرز کے اشکال بنا کر دکھائیں کہ ہارمونی تسلسل کے جزوی مجموعات درج ذیل عدم مساواتوں کو مطمئن کرتے ہیں۔

$$\begin{aligned}\ln(n+1) &= \int_1^{n+1} \frac{1}{x}\,\mathrm{d}x \le 1 + \frac{1}{2} + \cdots + \frac{1}{n} \\ &\le 1 + \int_1^{n} \frac{1}{x}\,\mathrm{d}x = 1 + \ln n\end{aligned}$$

ب. ہارمونی تسلسل کی انفراج تجرباتی طور نظر نہیں آتی ہے اگرچہ ہم جانتے ہیں کہ یہ تسلسل منفرج ہے۔ بس اس کے جزوی مجموعات بہت آہستہ بڑھتے ہیں۔ یہ دیکھنے کی خاطر فرض کریں ہم $s_1 = 1$ سے شروع کر کے ہر سیکنڈ ہارمونی تسلسل میں ایک جزو شامل کرتے ہیں۔ کائنات کی ابتدا سے شروع کرتے ہوئے اب تک (تقریباً 13 ارب سال بعد) شامل اجزاء کا جزوی مجموعہ کیا ہو گا؟ (ایک سال میں 365 دن لیں۔)

سوال ۹.۲۶۴: کیا x کی کسی قیمت کے لئے $\sum_{n=1}^{\infty} \frac{1}{nx}$ مرتکز ہو گا؟ اپنے جواب کی وجہ پیش کریں۔

سوال ۹.۲۶۵: کیا یہ درست ہے کہ اگر $\sum_{n=1}^{\infty} a_n$ مثبت اعداد کا منفرج تسلسل ہو تب تمام n کے لئے $b_n < a_n$ کی صورت میں مثبت اعداد کا ایک تسلسل $\sum_{n=1}^{\infty} b_n$ بھی منفرج ہو گا؟ کیا مثبت اعداد کا ''چھوٹے سے چھوٹا'' منفرج تسلسل پایا جاتا ہے؟ اپنے جواب کی وجہ پیش کریں۔

سوال ۹.۲۶۶: کیا مثبت اعداد کا ''بڑے سے بڑا'' منفرج تسلسل پایا جاتا ہے (سوال ۹.۲۶۵)؟

سوال ۹.۲۶۷: کوشی پرکھ جمود

کوشی پرکھ جمود کہتا ہے: فرض کریں $\{a_n\}$ مثبت اجزاء کی غیر گھٹتی ترتیب ہے (تمام n کے لئے $a_n \ge a_{n+1}$) جو 0 پر مرتکز ہے۔ تب $\sum a_n$ صرف اور صرف اس صورت مرتکز ہو گا جب $\sum 2^n a_{2^n}$ مرتکز ہو۔ مثال کے طور پر $\sum \frac{1}{n}$ اس لئے منفرج ہے کہ $\sum 2^n \cdot \left(\frac{1}{2^n}\right) = \sum 1$ منفرج ہے۔ دکھائیں کہ یہ پرکھ کیوں کام کرتا ہے۔

سوال ۹.۲۶۸: کوشی پرکھ جمود (سوال ۹.۲۶۷) استعمال کرتے ہوئے دکھائیں کہ

۱۴۳۶۸ ا. $\sum_{n=2}^{\infty} \frac{1}{n \ln n}$ منفرج ہے۔

۱۴۳۶۹ ب. $p > 1$ کے لئے $\sum_{n=1}^{\infty} \frac{1}{n^p}$ مرتکز اور $p \leq 1$ کے لئے منفرج ہے۔

۱۴۳۷۰ سوال ۹.۲۶۹: لوگارتھمی p تسلسل

۱۴۳۷۱

۱۴۳۷۲ ا. دکھائیں کہ صرف اور صرف $p > 1$ کے لئے $\int_2^{\infty} \frac{\mathrm{d}x}{x(\ln x)^p}$ مرتکز ہو گا۔

۱۴۳۷۳ ب. تسلسل $\sum_2^{\infty} \frac{1}{n(\ln n)^p}$ کی ارتکاز پر جزو-الف کا کیا اثر ہو گا؟ اپنے جواب کی وجہ پیش کریں۔

۱۴۳۷۴ سوال ۹.۲۷۰: درج ذیل میں کون سے تسلسل مرتکز اور کون سے منفرج ہیں۔ سوال ۹.۲۶۹ کے نتائج بروئے کار لائیں۔ اپنے جواب کی وجہ پیش کریں۔

۱۴۳۷۵ ا. $\sum_{n=2}^{\infty} \frac{1}{n \ln n}$ ۱۴۳۷۶ ب. $\sum_{n=2}^{\infty} \frac{1}{n(\ln n)^{1.01}}$ ۱۴۳۷۷ ج. $\sum_{n=2}^{\infty} \frac{1}{n \ln(n^3)}$ ۱۴۳۷۸ د. $\sum_{n=2}^{\infty} \frac{1}{n(\ln n)^3}$

۱۴۳۷۹ سوال ۹.۲۷۱: یولر مستقل

۱۴۳۸۰ ہم شکل ۹.۲۱ کی طرح اشکال کو دیکھ کر ہمیں خیال آتا ہے کہ n بڑھانے سے مجموعہ

$$1 + \frac{1}{2} + \cdots + \frac{1}{n}$$

۱۴۳۸۱ اور تکمل

$$\ln n = \int_1^n \frac{1}{x} \, \mathrm{d}x$$

۱۴۳۸۲ کے فرق میں کمی کم ہوتی ہے۔ اس خیال پر غور کی خاطر درج ذیل اقدام کریں۔

۱۴۳۸۳ ا. عدم مساوات ا میں $f(x) = \frac{1}{x}$ لے کر

$$\ln(n+1) \leq 1 + \frac{1}{2} + \cdots + \frac{1}{n} \leq 1 + \ln n$$

۱۴۳۸۴ یا

$$0 < \ln(n+1) - \ln n \leq 1 + \frac{1}{2} + \cdots + \frac{1}{n} - \ln n \leq 1$$

۱۴۳۸۵ دکھائیں۔ یوں درج ذیل ترتیب اوپر سے اور نیچے سے محدود ہو گی۔

$$a_n = 1 + \frac{1}{2} + \cdots + \frac{1}{n} - \ln n$$

۱۳۳۸۶ ب. درج ذیل دکھا کر دکھائیں کہ جز-الف میں ترتیب $\{a_n\}$ گھٹتی ترتیب ہے۔

$$\frac{1}{n+1} < \int_n^{n+1} \frac{1}{x}\,\mathrm{d}x = \ln(n+1) - \ln n$$

۱۳۳۸۷ چونکہ اوپر اور نیچے سے محدود گھٹتی ترتیب مرتکز ہوتی ہے (سوال ۹.۴۱) لہٰذا جزو-الف میں اعداد a_n بھی مرتکز ہوں گے:

$$1 + \frac{1}{2} + \cdots + \frac{1}{n} - \ln n \to \gamma$$

۱۳۳۸۸ عدد γ جس کو **یولر مستقل**[۲۸] کہتے ہیں کی قیمت $0.5772\cdots$ ہے۔ دیگر مخصوص اعداد مثلاً π اور e کے برعکس γ کو ظاہر کرنے کا کوئی
۱۳۳۸۹ دوسرا سادہ کلیہ اب تک دریافت نہیں کیا گیا ہے۔

۱۳۳۹۰ سوال ۹.۲۷۲: تکملی پرکھ استعمال کرتے ہوئے دکھائیں کہ $\sum_{n=0}^{\infty} e^{-n^2}$ مرتکز ہے۔

۱۳۳۹۱

۱۳۳۹۲

۱۳۳۹۳ ۹.۶ غیر منفی اجزاء کے تسلسل کے تقابلی پرکھ

۱۳۳۹۴ گزشتہ حصہ کے ضمنی نتیجہ ۹.۱ کے استعمال میں اصل سوال یہ معلوم کرنا ہے کہ s_n اوپر سے محدود ہے۔ بعض اوقات ہم دکھا پاتے ہیں کہ چونکہ دیے گئے
۱۳۳۹۵ تسلسل کا ہر جزوی مجموعہ s_n کسی مرتکز تسلسل کے مطابقتی جزوی مجموعہ سے کم ہے لہٰذا دیا گیا تسلسل مرتکز ہے۔

۱۳۳۹۶ مثال ۹.۳۱: درج ذیل تسلسل

$$\sum_{n=0}^{\infty} \frac{1}{n!} = 1 + \frac{1}{1!} + \frac{1}{2!} + \frac{1}{3!} + \cdots$$

۱۳۳۹۷ اس لئے مرتکز ہے کہ اس کے تمام اجزاء مثبت اور درج ذیل تسلسل کے مطابقتی اجزاء سے کم ہیں۔

$$1 + \sum_{n=0}^{\infty} \frac{1}{2^n} = 1 + 1 + \frac{1}{2} + \frac{1}{2^2} + \cdots$$

۱۳۳۹۸ آئیں دیکھتے ہیں کہ یہ تعلق $\sum_{n=0}^{\infty} \frac{1}{n!}$ کے جزوی مجموعات کو کیسے اوپر سے محدود بناتا ہے۔ درج ذیل فرض کر کے

$$s_n = 1 + \frac{1}{1!} + \frac{1}{2!} + \cdots + \frac{1}{n!}$$

---

[۲۸] Euler'sconstant

ہم دیکھتے ہیں کہ ہر n کے لئے

$$s_n \leq 1 + 1 + \frac{1}{2} + \frac{1}{2^2} + \cdots + \frac{1}{2^{n-1}} < 1 + \sum_{n=0}^{\infty} \frac{1}{2^n} = 1 + \frac{1}{1-(1/2)} = 3$$

ہو گا۔یوں $\sum_{n=0}^{\infty} \frac{1}{n!}$ کے تمام جزوی مجموعات 3 سے کم ہیں لہٰذا $\sum_{n=0}^{\infty} \frac{1}{n!}$ مرتکز ہو گا۔

$\sum_{n=0}^{\infty} \frac{1}{n!}$ کے جزوی مجموعات کی بالائی حد بندی 3 ہونے کا یہ مطلب نہیں کہ یہ تسلسل 3 پر مرتکز ہو گا۔ہم حصہ ۹.۱۱ میں دیکھیں گے کہ یہ تسلسل e پر مرتکز ہے۔ □

بلاواسطہ تقابلی پرکھ

ہم نے مثال ۹.۳۱ میں ارتکاز کو تقابلی پرکھ سے ثابت کیا۔ہم نے دیے گئے تسلسل کے اجزاء کا ایک مرتکز تسلسل کے مطابقتی اجزاء کے ساتھ موازنہ کرتے ہوئے ایسا کیا۔اس طریقہ کار سے کئی تراکیب حاصل کئے جا سکتے ہیں جنہیں **تقابلی پرکھ**[۲۹] کہتے ہیں۔

غیر منفی اجزاء کے تسلسل کا بلاواسطہ تقابلی پرکھ

فرض کریں $\sum a_n$ ایک ایسا تسلسل ہے جس میں کوئی منفی جزو نہیں پایا جاتا ہے۔

ا. اگر ایسا مرتکز تسلسل $\sum c_n$ پایا جاتا ہو کہ تمام $n > N$، جہاں N کوئی عدد صحیح ہے، کے لئے $a_n \leq c_n$ ہو تب تسلسل $\sum a_n$ مرتکز ہو گا۔

ب. اگر غیر منفی اجزاء کا ایسا منفرج تسلسل $\sum d_n$ پایا جاتا ہو کہ تمام $n > N$، جہاں N کوئی عدد صحیح ہے، کے لئے $a_n \geq d_n$ ہو تب تسلسل $\sum a_n$ منفرج ہو گا۔

□

ثبوت پرکھ: جزو-الف میں جزوی مجموعات $\sum a_n$ کو درج ذیل اوپر سے محدود کرتا ہے

$$M = a_1 + a_2 + \cdots + a_n + \sum_{n=N+1}^{\infty} c_n$$

لہٰذا یہ غیر گھٹتا ترتیب دیتے ہیں جس کا حد $L \leq M$ ہے۔

جزو-ب میں جزوی مجموعات $\sum a_n$ اوپر سے محدود نہیں ہیں۔اگر یہ اوپر سے محدود ہوتے تب جزوی مجموعہ $\sum d_n$ کو درج ذیل اوپر سے محدود کرتا

$$M' = d_1 + d_2 + \cdots + d_N + \sum_{n=N+1}^{\infty} a_n$$

اور $\sum d_n$ کو انفراج کے بجائے مرتکز ہونا ہوتا۔

---

[۲۹] comparisontests

۱۴۴۱۷ □

۱۴۴۱۸ بلاواسطہ تقابلی پرکھ کو تسلسل پر لاگو کرنے کے لئے ہمیں تسلسل کے ابتدائی اجزاء شامل کرنے ہوں گے۔ ہم کسی بھی اشاریہ N سے پرکھ شروع کر سکتے ہیں
۱۴۴۱۹ جب تک ہم اس کے بعد کے تمام اجزاء شامل کریں۔

۱۴۴۲۰ مثال ۹.۳۲: کیا درج ذیل تسلسل مرتکز ہے؟

$$5+\frac{2}{3}+1+\frac{1}{7}+\frac{1}{2}+\frac{1}{3!}+\frac{1}{4!}+\cdots+\frac{1}{k!}+\cdots$$

۱۴۴۲۱ حل: ہم ابتدائی چار اجزاء نظر انداز کر کے باقی اجزاء کا مرتکز ہندسی تسلسل $\sum_{n=1}^{\infty}\frac{1}{2^n}$ کے اجزاء کے ساتھ موازنہ کرتے ہیں۔ ہم درج ذیل دیکھتے ہیں۔

$$\frac{1}{2}+\frac{1}{3!}+\frac{1}{4!}+\cdots\leq\frac{1}{2}+\frac{1}{4}+\frac{1}{8}+\cdots$$

۱۴۴۲۲ یوں دیا گیا تسلسل بلاواسطہ تقابلی پرکھ کے تحت مرتکز ہو گا۔ □

۱۴۴۲۳ بلاواسطہ تقابلی پرکھ استعمال کرنے کی خاطر ہمارے پاس مرتکز اور منفرج تسلسل کی فہرست ہونی چاہیے۔ اب تک ہم درج ذیل جانتے ہیں:

مرتکز تسلسل	منفرج تسلسل
ہندسی تسلسل جس میں $\lvert r\rvert<1$ ہو	ہندسی تسلسل جس میں $\lvert r\rvert\geq 1$ ہو
۱۴۴۲۴ دوربینی تسلسل مثلاً $\sum_{n=1}^{\infty}\frac{1}{n(n+1)}$	ہارمونی تسلسل $\sum_{n=1}^{\infty}\frac{1}{n}$
تسلسل $\sum_{n=0}^{\infty}\frac{1}{n!}$	کوئی بھی تسلسل $\sum a_n$ جس کے لئے $\lim_{n\to\infty}a_n$ غیر موجود ہو یا $\lim_{n\to\infty}a_n\neq 0$ ہو
p تسلسل $\sum_{n=1}^{\infty}\frac{1}{n^p}$ جہاں $p>1$ ہو	p تسلسل $\sum_{n=1}^{\infty}\frac{1}{n^p}$ جہاں $p\leq 1$ ہو

۱۴۴۲۵ **پرکھ تقابل حد**

۱۴۴۲۶ ہم اب ایسے تقابلی پرکھ پر غور کرتے ہیں جس کا استعمال ان تسلسل میں بالخصوص آسان ثابت ہوتا ہے جن میں a_n اشاریہ n کا ناطق تفاعل ہو۔

۱۴۴۲۷ فرض کریں ہم درج ذیل تسلسل کے ارتکاز پر غور کرنا چاہتے ہیں۔

(الف) $\displaystyle\sum_{n=2}^{\infty}\frac{2n}{n^2-n+1}$ (ب) $\displaystyle\sum_{n=2}^{\infty}\frac{8n^3+100n^2+1000}{2n^6-n+5}$

ارتکاز یا انفراج جاننے میں صرف دُم کارآمد ہوتی ہے۔ جب n بہت بڑا ہو تب نسب نما اور شمار کنندہ میں n کی بلند ترین طاقت سب سے زیادہ اہم ہوں گی۔ یوں (الف) میں بڑے n کے لئے

$$a_n = \frac{2n}{n^2 - n + 1}$$

کا رویہ $\frac{2n}{n^2} = \frac{2}{n}$ کی طرح کا ہو گا۔ چونکہ $\sum \frac{1}{n}$ منفرج ہے لہٰذا ہم توقع کرتے ہیں کہ $\sum a_n$ بھی منفرج ہو گا۔

اسی طرح (ب) میں بڑے n کے لئے

$$\frac{8n^3 + 100n^2 + 1000}{2n^6 - n + 5}$$

کا رویہ $\frac{8n^3}{2n^6} = \frac{4}{n^3}$ کی طرح کا ہو گا۔ چونکہ $\sum \frac{4}{n^3}$ مرتکز ہے (یہ مرتکز p تسلسل کا چار گنا ہے) لہٰذا ہم توقع کرتے ہیں کہ تسلسل $\sum a_n$ بھی مرتکز ہو گا۔

درج ذیل پرکھ کے تحت ہماری $\sum a_n$ کے بارے میں توقعات دونوں صورتوں میں درست ہیں۔

تقابلی حد پرکھ

فرض کریں تمام $n \geq N$ کے لئے $a_n > 0$ اور $b_n > 0$ ہیں جہاں N عدد صحیح ہے۔

ا. اگر $\lim_{n\to\infty} \frac{a_n}{b_n} = c > 0$ ہو تب $\sum a_n$ اور $\sum b_n$ دونوں مرتکز یا دونوں منفرج ہوں گے۔

ب. اگر $\lim_{n\to\infty} \frac{a_n}{b_n} = 0$ ہو اور $\sum b_n$ مرتکز ہو تب $\sum a_n$ بھی مرتکز ہو گا۔

ج. اگر $\lim_{n\to\infty} \frac{a_n}{b_n} = \infty$ ہو اور $\sum b_n$ منفرج ہو تب $\sum a_n$ بھی منفرج ہو گا۔

□

ثبوت پرکھ: ہم جزو-الف ثابت کریں گے جبکہ جزو-ب اور جزو-ج آپ کو ثابت کرنے ہوں گے (سوال ۹.۳۰۹)۔

چونکہ $\frac{c}{2} > 0$ ہے لہٰذا ایک ایسا عدد صحیح N پایا جائے گا کہ تمام n کے لئے درج مطمئن ہو گا۔

$$n > N \implies \left|\frac{a_n}{b_n} - c\right| < \frac{c}{2}$$

حد کی تعریف جہاں $\epsilon = \frac{c}{2}$ ، $L = c$ اور a_n کی جگہ $\frac{a_n}{b_n}$ ہیں۔

یوں $n > N$ کے لئے درج ذیل ہو گا۔

$$-\frac{c}{2} < \frac{a_n}{b_n} - c < \frac{c}{2},$$
$$\frac{c}{2} < \frac{a_n}{b_n} < \frac{3c}{2},$$
$$\left(\frac{c}{2}\right) b_n < a_n < \left(\frac{3c}{2}\right) b_n$$

اگر $\sum b_n$ مرتکز ہو، تب $\sum(3c/2)b_n$ مرتکز ہو گا اور بلا واسطہ تقابل کے تحت $\sum a_n$ مرتکز ہو گا۔ اگر $\sum b_n$ منفرج ہو، تب $\sum(3c/2)b_n$ منفرج ہو گا اور بلاواسطہ تقابل کے تحت $\sum a_n$ منفرج ہو گا۔

□

مثال ۹.۳۳: درج ذیل تسلسل میں کون سے مرتکز اور کون سے منفرج ہیں؟

(الف)
$$\frac{3}{4}+\frac{5}{9}+\frac{7}{16}+\frac{9}{25}+\cdots=\sum_{n=1}^{\infty}\frac{2n+1}{(n+1)^2}=\sum_{n=1}^{\infty}\frac{2n+1}{n^2+2n+1}$$

(ب)
$$\frac{1}{2}+\frac{1}{3}+\frac{1}{7}+\frac{1}{15}+\cdots=\sum_{n=1}^{\infty}\frac{1}{2^n-1}$$

(ج)
$$\frac{1+2\ln 2}{9}+\frac{1+3\ln 3}{14}+\frac{1+4\ln 4}{21}+\cdots=\sum_{n=2}^{\infty}\frac{1+n\ln n}{n^2+5}$$

حل:

ا. ہم $a_n=\frac{2n+1}{n^2+2n+1}$ لیتے ہیں۔ بڑے n کے لئے ہم توقع کرتے ہیں کہ a_n کا رویہ $\frac{2n}{n^2}=\frac{2}{n}$ کی طرح ہو گا لہٰذا ہم $b_n=\frac{1}{n}$ لیتے ہیں (ہم $b_n=\frac{2}{n}$ بھی لے سکتے تھے لیکن $\frac{1}{n}$ زیادہ سادہ ہے۔)۔ چونکہ

$$\sum_{n=1}^{\infty}b_n=\sum_{n=1}^{\infty}\frac{1}{n}$$

منفرج ہے اور

$$\lim_{n\to\infty}\frac{a_n}{b_n}=\lim_{n\to\infty}\frac{2n^2+n}{n^2+2n+1}=2$$

ہے لہٰذا تقابل حد پرکھ کے جزو-ا کے تحت $\sum a_n$ منفرج ہو گا۔

ب. $a_n=\frac{1}{2^n-1}$ لیں۔ بڑے n کے لئے ہم توقع کرتے ہیں کہ a_n کا رویہ $\frac{1}{2^n}$ کی طرح ہو گا لہٰذا ہم $b_n=\frac{1}{2^n}$ لیتے ہیں۔ چونکہ

$$\sum_{n=1}^{\infty}b_n=\sum_{n=1}^{\infty}\frac{1}{2^n}$$

مرتکز ہے اور

$$\begin{aligned}\lim_{n\to\infty}\frac{a_n}{b_n}&=\lim_{n\to\infty}\frac{2^n}{2^n-1}\\&=\lim_{n\to\infty}\frac{1}{1-(1/2^n)}\\&=1\end{aligned}$$

ہے لہٰذا تقابل حد پرکھ کے جزو-ا کے تحت $\sum a_n$ مرتکز ہو گا۔

۱۴۴۵۶ ج. $a_n = \frac{1+n\ln n}{n^2+5}$ لیں۔ بڑے n کے لئے ہم توقع کرتے ہیں کہ a_n کا رویہ $\frac{\ln n}{n} = \frac{n\ln n}{n^2}$ کی طرح ہوگا جو $n \geq 3$ کے لئے $\frac{1}{n}$
۱۴۴۵۷ سے بڑا ہے لہٰذا ہم $b_n = \frac{1}{n}$ لیتے ہیں۔ چونکہ

$$\sum_{n=2}^{\infty} b_n = \sum_{n=2}^{\infty} \frac{1}{n}$$

۱۴۴۵۸ منفرج ہے اور

$$\begin{aligned}\lim_{n\to\infty} \frac{a_n}{b_n} &= \lim_{n\to\infty} \frac{n+n^2\ln n}{n^2+5}\\ &= \infty\end{aligned}$$

۱۴۴۵۹ ہے لہٰذا تقابل حد پرکھ کے جزو-ج کے تحت $\sum a_n$ منفرج ہوگا۔

۱۴۴۶۰ □

۱۴۴۶۱ مثال ۹.۳۴: کیا $\sum_{n=1}^{\infty} \frac{\ln n}{n^{3/2}}$ مرتکز ہے؟

۱۴۴۶۲ حل: چونکہ کسی بھی مثبت مستقل c کے لئے $\ln n$ سے n^c کی بڑھنے کی شرح زیادہ ہوگی (سوال ۹.۱۳۷) لہٰذا ہم توقع کرتے ہیں کہ کافی بڑے n
۱۴۴۶۳ کے لئے

$$\frac{\ln n}{n^{3/2}} < \frac{n^{1/4}}{n^{3/2}} = \frac{1}{n^{5/4}}$$

۱۴۴۶۴ ہوگا۔ یقیناً $a_n = \frac{\ln n}{n^{3/2}}$ اور $b_n = \frac{1}{n^{5/4}}$ لے کر

$$\begin{aligned}\lim_{n\to\infty} \frac{a_n}{b_n} &= \lim_{n\to\infty} \frac{\ln n}{n^{1/4}}\\ &= \lim_{n\to\infty} \frac{1/n}{(1/4)n^{-3/4}} && \text{قاعدہ لھوپیٹال}\\ &= \lim_{n\to\infty} \frac{4}{n^{1/4}} = 0\end{aligned}$$

۱۴۴۶۵ حاصل ہوتا ہے۔ چونکہ $\sum b_n = \sum \frac{1}{n^{5/4}}$ (p تسلسل جہاں $p > 1$ ہے) مرتکز ہے لہٰذا تقابل حد پرکھ کے جزو-ب کے تحت $\sum a_n$
۱۴۴۶۶ مرتکز ہوگا۔ □

۱۴۴۶۷ **سوالات**

۱۴۴۶۸ **ارتکاز اور انفراج کی دریافت**

۱۴۴۶۹ سوال ۹.۲۷۳ تا سوال ۹.۳۰۸ میں کون سا تسلسل مرتکز اور کون سا تسلسل منفرج ہے؟ اپنے جواب کی وجہ پیش کریں۔

۱۴۴۷۰ سوال ۹.۲۷۳: $\sum_{n=1}^{\infty} \frac{1}{2\sqrt{n}+\sqrt[3]{n}}$

۱۴۴۷۱ سوال ۹.۲۷۴: $\sum_{n=1}^{\infty} \frac{3}{n+\sqrt{n}}$

۱۴۴۷۲ سوال ۹.۲۷۵: $\sum_{n=1}^{\infty} \frac{\sin^2 n}{2^n}$

۱۴۴۷۳ سوال ۹.۲۷۶: $\sum_{n=1}^{\infty} \frac{1+\cos n}{n^2}$

۱۴۴۷۴ سوال ۹.۲۷۷: $\sum_{n=1}^{\infty} \frac{2n}{3n-1}$

۱۴۴۷۵ سوال ۹.۲۷۸: $\sum_{n=1}^{\infty} \frac{n+1}{n^2\sqrt{n}}$

۱۴۴۷۶ سوال ۹.۲۷۹: $\sum_{n=1}^{\infty} \left(\frac{n}{3n+1}\right)^n$

۱۴۴۷۷ سوال ۹.۲۸۰: $\sum_{n=1}^{\infty} \frac{1}{\sqrt{n^3+2}}$

۱۴۴۷۸ سوال ۹.۲۸۱: $\sum_{n=3}^{\infty} \frac{1}{\ln(\ln n)}$

۱۴۴۷۹ سوال ۹.۲۸۲: $\sum_{n=2}^{\infty} \frac{1}{(\ln n)^2}$

۱۴۴۸۰ سوال ۹.۲۸۳: $\sum_{n=1}^{\infty} \frac{(\ln n)^2}{n^3}$

۱۴۴۸۱ سوال ۹.۲۸۴: $\sum_{n=1}^{\infty} \frac{(\ln n)^3}{n^3}$

۱۴۴۸۲ سوال ۹.۲۸۵: $\sum_{n=2}^{\infty} \frac{1}{\sqrt{n}\ln n}$

۱۴۴۸۳ سوال ۹.۲۸۶: $\sum_{n=1}^{\infty} \frac{(\ln n)^2}{n^{3/2}}$

۱۴۴۸۴ سوال ۹.۲۸۷: $\sum_{n=1}^{\infty} \frac{1}{1+\ln n}$

۱۴۴۸۵ سوال ۹.۲۸۸: $\sum_{n=1}^{\infty} \frac{1}{(1+\ln n)^2}$

۱۳۴۸۶ سوال ۹.۲۸۹: $\sum_{n=2}^{\infty} \frac{\ln(n+1)}{n+1}$

۱۳۴۸۷ سوال ۹.۲۹۰: $\sum_{n=1}^{\infty} \frac{1}{1+\ln^2 n}$

۱۳۴۸۸ سوال ۹.۲۹۱: $\sum_{n=2}^{\infty} \frac{1}{n\sqrt{n^2-1}}$

۱۳۴۸۹ سوال ۹.۲۹۲: $\sum_{n=1}^{\infty} \frac{\sqrt{n}}{n^2+1}$

۱۳۴۹۰ سوال ۹.۲۹۳: $\sum_{n=1}^{\infty} \frac{1-n}{n2^n}$

۱۳۴۹۱ سوال ۹.۲۹۴: $\sum_{n=1}^{\infty} \frac{n+2^n}{n^2 2^n}$

۱۳۴۹۲ سوال ۹.۲۹۵: $\sum_{n=1}^{\infty} \frac{1}{3^{n-1}+1}$

۱۳۴۹۳ سوال ۹.۲۹۶: $\sum_{n=1}^{\infty} \frac{3^{n-1}+1}{3^n}$

۱۳۴۹۴ سوال ۹.۲۹۷: $\sum_{n=1}^{\infty} \sin \frac{1}{n}$

۱۳۴۹۵ سوال ۹.۲۹۸: $\sum_{n=1}^{\infty} \tan \frac{1}{n}$

۱۳۴۹۶ سوال ۹.۲۹۹: $\sum_{n=1}^{\infty} \frac{10n+1}{n(n+1)(n+2)}$

۱۳۴۹۷ سوال ۹.۳۰۰: $\sum_{n=3}^{\infty} \frac{5n^3-3n}{n^2(n-2)(n^2+5)}$

۱۳۴۹۸ سوال ۹.۳۰۱: $\sum_{n=1}^{\infty} \frac{\tan^{-1} n}{n^{1.1}}$

۱۳۴۹۹ سوال ۹.۳۰۲: $\sum_{n=1}^{\infty} \frac{\sec^{-1} n}{n^{1.3}}$

۱۳۵۰۰ سوال ۹.۳۰۳: $\sum_{n=1}^{\infty} \frac{\coth n}{n^2}$

۱۳۵۰۱ سوال ۹.۳۰۴: $\sum_{n=1}^{\infty} \frac{\tanh n}{n^2}$

سوال ۹.۳۰۵: $\sum_{n=1}^{\infty} \frac{1}{n\sqrt[n]{n}}$

سوال ۹.۳۰۶: $\sum_{n=1}^{\infty} \frac{\sqrt[n]{n}}{n^2}$

سوال ۹.۳۰۷: $\sum_{n=1}^{\infty} \frac{1}{1+2+3+\cdots+n}$

سوال ۹.۳۰۸: $\sum_{n=1}^{\infty} \frac{1}{1+2^2+3^2+\cdots+n^2}$

نظریہ اور مثالیں

سوال ۹.۳۰۹: تقابل حد پرکھ کا جزو-ب اور جزو-ج ثابت کریں۔

سوال ۹.۳۱۰: اگر غیر منفی اجزاء کا تسلسل $\sum_{n=1}^{\infty} a_n$ مرتکز ہو تب کیا $\sum_{n=1}^{\infty} \frac{a_n}{n}$ کے بارے میں کچھ کہنا ممکن ہو گا؟ وجہ پیش کریں۔

سوال ۹.۳۱۱: فرض کریں $n \geq N$ کے لئے $a_n > 0$ اور $b_n > 0$ ہیں جہاں N عدد صحیح ہے۔ اگر $\lim_{n\to\infty} \frac{a_n}{b_n} = \infty$ ہو اور $\sum a_n$ مرتکز ہو تب کیا $\sum b_n$ کے بارے میں کچھ کہنا ممکن ہو گا؟ وجہ پیش کریں۔

سوال ۹.۳۱۲: ثابت کریں کہ اگر غیر مثبت اجزاء کا تسلسل $\sum a_n$ مرتکز ہو تب $\sum a_n^2$ بھی مرتکز ہو گا۔

کمپیوٹر کا استعمال

سوال ۹.۳۱۳: ہم نہیں جانتے ہیں کہ آیا تسلسل $\sum_{n=1}^{\infty} \frac{1}{n^3 \sin^2 n}$ مرتکز کہ منفرج ہے۔ کمپیوٹر کی مدد سے اس تسلسل کا رویہ درج ذیل اقدام سے دیکھیں۔

ا. جزوی مجموعات $s_k = \sum_{n=1}^{k} \frac{1}{n^3 \sin^2 n}$ کی ترتیب لیں۔ اس ترتیب کا حد کا رویہ $k \to \infty$ کیسا ہے۔ کیا آپ کا کمپیوٹر پروگرام اس ترتیب کی حدوں کا کلیہ تلاش کر سکتا ہے؟

ب. جزوی مجموعات کے ابتدائی 100 نقطے $(k, s-k)$ ترسیم کریں۔ کیا یہ مرتکز نظر آتے ہیں؟ آپ اس کی حدوں کی اندازاً کتنی قیمت لگائیں گے؟

ج. اب ابتدائی 200 نقطے (k, s_k) ترسیم کریں۔ اس کے رویہ پر تبصرہ کریں۔

د. ابتدائی 400 نقطے (k, s_k) ترسیم کریں۔ $k = 355$ پر کیا ہوتا ہے؟ عدد $\frac{355}{113}$ کا حساب لگائیں۔ اس حساب کی رو سے $k = 355$ پر جزوی مجموعہ کے رویہ پر تبصرہ کریں۔ آپ k کی کن قیمتوں پر اسی رویہ کی توقع کرتے ہیں۔

۹.۷ غیر منفی اجزاء کے تسلسل کا تناسبی اور جذری پرکھ

وہ پرکھ ارتکاز جو دوسرے تسلسل یا تکمل کے ساتھ موازنہ پر منحصر ہو **بیرونی پرکھ**[۳۰] کہلاتا ہے۔ ایسے پرکھ کار آمد ہوتے ہیں لیکن چند وجوہات کی وجہ سے ہمیں ایسے پرکھ درکار ہیں جو کسی موازنہ پر منحصر نہ ہوں۔ حقیقت میں عین ممکن ہے کہ ہمیں ایسا کوئی تسلسل یا تکمل معلوم نہ ہو جس کے ساتھ موازنہ کرنا ممکن ہو۔ اس کے علاوہ کسی بھی تسلسل کی تمام معلومات اسی کے اجزاء میں پائی جانی چاہیے۔ اسی لئے ہم اپنی توجہ **اندرونی پرکھ**[۳۱] کی طرف کرتے ہیں۔ اندرونی پرکھ صرف دیے گئے تسلسل پر منحصر ہوتا ہے۔

تناسبی پرکھ

تناسبی پرکھ ہمارا پہلا اندرونی پرکھ ہے جو تسلسل کے بڑھنے (یا گھٹنے) کی شرح کو نسبت $\frac{a_{n+1}}{a_n}$ سے حاصل کرتا ہے۔ ہندسی تسلسل $\sum ar^n$ کے لئے یہ شرح مستقل ($\frac{ar^{n+1}}{ar^n} = r$) ہے اور تسلسل صرف اور صرف اس صورت مرتکز ہو گا جب اس کے نسبت کی مطلق قیمت 1 سے کم ہو۔ اگر نسبت مستقل نہ ہو تب بھی (اگلی مثال کی طرح) ایسا ہندسی تسلسل معلوم کیا جا سکتا ہے جس کے ساتھ موازنہ کیا جا سکے۔

مثال ۹.۳۵: $a_1 = 1$ اور تمام n کے لئے $a_{n+1} = \frac{n}{2n+1}a_n$ لیں۔ کیا تسلسل $\sum a_n$ مرتکز ہے؟

حل: ہم تسلسل کے چند ابتدائی اجزاء لکھتے ہیں:

$$a_1 = 1, \quad a_2 = \frac{1}{3}a_1 = \frac{1}{3}, \quad a_3 = \frac{2}{5}a_2 = \frac{1\cdot 2}{3\cdot 5}, \quad a_4 = \frac{3}{7}a_3 = \frac{1\cdot 2\cdot 3}{3\cdot 5\cdot 7}$$

چونکہ $\frac{n}{2n+1}$ کی قیمت $\frac{1}{2}$ سے کم ہے لہٰذا ہر جزو گزشتہ جزو کے $\frac{1}{2}$ سے بھی کم ہو گا۔ یوں اس تسلسل کے اجزاء درج ذیل ہندسی تسلسل کے اجزاء سے کم یا برابر ہوں گے

$$1 + \left(\frac{1}{2}\right) + \left(\frac{1}{2}\right)^2 + \cdots + \left(\frac{1}{2}\right)^{n-1} + \cdots$$

اور یہ ہندسی تسلسل 2 پر مرتکز ہے۔ یوں ہمارا تسلسل بھی مرتکز ہو گا اور اس کا مجموعہ 2 سے کم ہو گا۔ درج ذیل جدول میں آپ دیکھ سکتے ہیں کہ یہ تسلسل اپنے حد $\frac{\pi}{2}$ تک کتنا جلدی پہنچتا ہے۔

n	s_n
5	1.549 206 349
10	1.570 289 085
15	1.570 783 080
20	1.570 795 964
25	1.570 796 317
30	1.570 796 327
35	1.570 796 327

[۳۰] extrinsictest
[۳۱] intrinsictest

۱۴۵۳۸ □

۱۴۵۳۹ **تناسبی پرکھ**

۱۴۵۴۰ فرض کریں $\sum a_n$ مثبت اجزاء کا تسلسل ہے اور درج ذیل فرض کریں۔

$$\lim_{n\to\infty} \frac{a_n+1}{a_n} = \rho$$

۱۴۵۴۱ تب درج ذیل ہو گا۔

۱۴۵۴۲ ا. $\rho < 1$ کی صورت میں تسلسل مرتکز ہو گا۔

۱۴۵۴۳ ب. $\rho > 1$ یا لا متناہی کے برابر ہونے کی صورت میں تسلسل منفرج ہو گا۔

۱۴۵۴۴ ج. $\rho = 1$ کی صورت میں یہ پرکھ غیر فیصلہ کن ہو گا۔

۱۴۵۴۵ □

۱۴۵۴۶ ثبوت پرکھ: تناسبی پرکھ کی ثبوت میں (مثال ۹.۳۵ کی طرح) موزوں ہندسی تسلسل کے ساتھ موازنہ کیا جائے گا۔ البتہ تناسبی پرکھ استعمال کرتے ہوئے ایسے
۱۴۵۴۷ کسی موازنہ کی ضرورت نہیں ہو گی۔

۱۴۵۴۸ ا. $[\rho < 1]$ فرض کریں ρ اور 1 کے بیچ r ایک عدد ہے۔ یوں $\epsilon = r - \rho$ مثبت ہو گا۔ چونکہ

$$\frac{a_{n+1}}{a_n} \to \rho$$

۱۴۵۴۹ ہے لہٰذا بڑے n، مثلاً $n \geq N$، کی صورت میں ρ اور $\frac{a_{n+1}}{a_n}$ کے بیچ فرق ϵ یا اس سے کم ہو گا۔ بالخصوص درج ذیل ہو گا۔

$$\frac{a_{n+1}}{a_n} < \rho + \epsilon = r \qquad \text{جب } n \geq N$$

۱۴۵۵۰ اس طرح درج ذیل ہو گا۔

$$\begin{aligned}
a_{N+1} &< ra_N, \\
a_{N+2} &< ra_{N+1} < r^2 a_N, \\
a_{N+3} &< ra_{N+2} < r^3 a_N, \\
&\vdots \\
a_{N+m} &< ra_{N+m-1} < r^m a_n
\end{aligned}$$

۱۴۵۵۱ ان عدم مساوات سے ظاہر ہے کہ N جزو کے بعد ہمارے تسلسل کے اجزاء صفر تک اس ہندسی تسلسل سے زیادہ تیزی سے پہنچتے ہیں جس میں $r < 1$
۱۴۵۵۲ ہو۔ بلکہ تسلسل $\sum c_n$ پر غور کریں جہاں $n = 1, 2, \cdots, N$ کے لئے $c_n = a_n$ اور

$$c_{N+1} = ra_N,\ c_{N+2} = r^2 a_N, \cdots, c_{N+m} = r^m a_N, \cdots$$

۱۳۵۵۳ ہوں۔اب تمام n کے لئے $a_n \leq c_n$ اور

$$\begin{aligned}\sum_{n=1}^{\infty} c_n &= a_1 + a_2 + \cdots + a_{N-1} + a_N + ra_N + r^2 a_N + \cdots \\ &= a_1 + a_2 + \cdots + a_{N-1} + a_N(1 + r + r^2 + \cdots)\end{aligned}$$

۱۳۵۵۴ ہے۔چونکہ $|r| < 1$ ہے لہٰذا ہندسی تسلسل $1 + r + r^2 + \cdots$ مرتکز ہوگا لہٰذا $\sum c_n$ بھی مرتکز ہوگا۔چونکہ $a_n \leq c_n$ ہے
۱۳۵۵۵ لہٰذا $\sum a_n$ بھی مرتکز ہوگا۔

۱۳۵۵۶ ب. $[1 < \rho \leq \infty]$ کسی اشاریہ M سے آگے

$$a_M < a_{M+1} < a_{M+2} < \cdots \quad \text{اور} \quad \frac{a_{n+1}}{a_n} > 1$$

۱۳۵۵۷ ہوگا۔تسلسل کے اجزاء n لامتناہی کرنے سے صفر تک نہیں پہنچتے ہیں لہٰذا n ویں جزو پرکھ کے تحت یہ تسلسل منفرج ہوگا۔

۱۳۵۵۸ ج. $[\rho = 1]$ درج ذیل دو تسلسل

$$\sum_{n=1}^{\infty} \frac{1}{n} \qquad \sum_{n=1}^{\infty} \frac{1}{n^2}$$

۱۳۵۵۹ دکھاتے ہیں کہ $\rho =$ کی صورت میں کسی دوسرے پرکھ کی ضرورت پیش آئے گی۔

$$\frac{a_{n+1}}{a_n} = \frac{1/(n+1)}{1/n} = \frac{n}{n+1} \to 1 \qquad \text{کے لئے} \sum_{n=1}^{\infty} \frac{1}{n}$$

$$\frac{a_{n+1}}{a_n} = \frac{1/(n+1)^2}{1/n^2} = \left(\frac{n}{n+1}\right)^2 \to 1^2 = 1 \qquad \text{کے لئے} \sum_{n=1}^{\infty} \frac{1}{n^2}$$

۱۳۵۶۰ باوجود اس کے کہ دونوں صورتوں میں $\rho = 1$ ہے، پہلا تسلسل منفرج اور دوسرا تسلسل مرتکز ہے۔

۱۳۵۶۱ □

۱۳۵۶۲ تناسبی پرکھ عموماً اس صورت موثر ہوتا ہے جب اجزاء میں n پر مبنی فقروں کے عدد ضربیہ یا n طاقت کے فقرے پائے جاتے ہوں۔

۱۳۵۶۳ مثال ۹.۳۶: درج ذیل تسلسل کی ارتکاز پر غور کریں۔

۱۳۵۶۴ ا. $\sum_{n=0}^{\infty} \frac{2^n+5}{3^n}$ ۱۳۵۶۵ ب. $\sum_{n=1}^{\infty} \frac{(2n)!}{n!n!}$ ۱۳۵۶۶ ج. $\sum_{n=1}^{\infty} \frac{4^n n! n!}{(2n)!}$

۱۳۵۶۷ حل:

۱۴۵۶۸ ا. تسلسل $\sum_{n=0}^{\infty} \frac{2^n+5}{3^n}$ کے لئے درج ذیل ہوگا۔

$$\frac{a_{n+1}}{a_n} = \frac{(2^{n+1}+5)/3^{n+1}}{(2^n+5)/3^n} = \frac{1}{3} \cdot \frac{2^{n+1}+5}{2^n+5} = \frac{1}{3} \cdot \left(\frac{2+5\cdot 2^{-n}}{1+5\cdot 2^{-n}}\right) \to \frac{1}{3} \cdot \frac{2}{1} = \frac{2}{3}$$

۱۴۵۶۹ چونکہ $p = \frac{2}{3}$ ہے جو 1 سے کم ہے لہٰذا یہ تسلسل مرتکز ہوگا۔اس کا یہ مطلب نہیں کہ تسلسل کا مجموعہ $\frac{2}{3}$ ہے۔درحقیقت اس کا مجموعہ درج ذیل
۱۴۵۷۰ ہے۔

$$\sum_{n=0}^{\infty} \frac{2^n+5}{3^n} = \sum_{n=0}^{\infty} \left(\frac{2}{3}\right)^n + \sum_{n=0}^{\infty} \frac{5}{3^n} = \frac{1}{1-(2/3)} + \frac{5}{1-(1/3)} = \frac{21}{2}$$

۱۴۵۷۱ ب. اگر $a_n = \frac{(2n)!}{n!n!}$ ہو تب $a_{n+1} = \frac{(2n+2)!}{(n+1)!(n+1)!}$ اور

$$\begin{aligned}\frac{a_{n+1}}{a_n} &= \frac{n!n!(2n+2)(2n+1)(2n)!}{(n+1)!(n+1)!(2n)!} \\ &= \frac{(2n+2)(2n+1)}{(n+1)(n+1)} = \frac{4n+2}{n+1} \to 4\end{aligned}$$

۱۴۵۷۲ ہوں گے۔چونکہ $p = 4$ ہے جو 1 سے بڑا ہے لہٰذا یہ تسلسل منفرج ہوگا۔

۱۴۵۷۳ ج. اگر $a_n = \frac{4^n n!n!}{(2n)!}$ ہو تب

$$\begin{aligned}\frac{a_{n+1}}{a_n} &= \frac{4^{n+1}(n+1)!(n+1)!}{(2n+2)(2n+1)(2n)!} \cdot \frac{(2n)!}{4^n n!n!} \\ &= \frac{4(n+1)(n+1)}{(2n+2)(2n+1)} = \frac{2(n+1)}{2n+1} \to 1\end{aligned}$$

۱۴۵۷۴ ہوگا۔چونکہ حد $p = 1$ ہے تناسبی پرکھ ہمیں تسلسل کی ارتکاز یا انفراج کے بارے میں معلومات فراہم نہیں کر سکتا ہے۔البتہ چونکہ $\frac{a_{n+1}}{a_n} =$
۱۴۵۷۵ $\frac{2n+2}{2n+1}$ ہر صورت 1 سے بڑا ہوگا لہٰذا a_{n+1} ہر صورت a_n سے بڑا ہوگا۔یوں تمام اجزاء $a_1 = 2$ سے بڑے یا اس کے برابر ہوں گے اور
۱۴۵۷۶ $n \to \infty$ کرنے سے n جزو صفر تک نہیں پہنچتا ہے۔یوں یہ تسلسل منفرج ہوگا۔

۱۴۵۷۷ □

۱۴۵۷۸ n واں جذر پرکھ

۱۴۵۷۹ اب تک $\sum a_n$ کے لئے جن پرکھ پر غور کیا گیا ان کی بہترین کارکردگی سادہ کلیات کے a_n میں نظر آتی ہے۔اب درج ذیل پر غور کریں۔

۱۴۵۸۰ مثال ۹.۳۷: اگر $a_n = \begin{cases} n/2^n & \text{طاق n} \\ 1/2^n & \text{جفت n} \end{cases}$ ہو تب کیا $\sum a_n$ مرتکز ہوگا؟

۱۳۵۸۱ حل: ہم اس تسلسل کے ابتدائی چند اجزاء لکھتے ہیں:

$$\begin{aligned}\sum_{n=1}^{\infty} a_n &= \frac{1}{2^1}+\frac{1}{2^2}+\frac{3}{2^3}+\frac{1}{2^4}+\frac{5}{2^5}+\frac{1}{2^6}+\frac{7}{2^7}+\cdots\\ &= \frac{1}{2}+\frac{1}{4}+\frac{3}{8}+\frac{1}{16}+\frac{5}{32}+\frac{1}{64}+\frac{7}{128}+\cdots\end{aligned}$$

۱۳۵۸۲ آپ دیکھ سکتے ہیں کہ یہ ہندسی تسلسل نہیں ہے۔ $n \to \infty$ کرنے سے n واں جزو 0 تک پہنچتا ہے لہٰذا ہم نہیں جانتے کہ یہ تسلسل منفرج ہو گا۔ یہاں

۱۳۵۸۳ تکملی پرکھ ہماری مدد نہیں کر پاتا۔ تناسبی پرکھ درج ذیل دیتا ہے۔

$$\frac{a_{n+1}}{a_n} = \begin{cases} \frac{1}{2n} & n \text{ طاق} \\ \frac{n+1}{2} & n \text{ جفت} \end{cases}$$

۱۳۵۸۴ $n \to \infty$ کرنے سے نسبت کم اور زیادہ ہوتی ہے اور کوئی حد نہیں پایا جاتا ہے۔

۱۳۵۸۵ یہاں ہمیں n واں جذر پرکھ کی ضرورت ہے۔ □

۱۳۵۸۶ **n واں جذر پرکھ**

۱۳۵۸۷ فرض کریں تسلسل $\sum a_n$ میں تمام $n \geq N$ کے لئے $a_n \geq 0$ ہیں۔ مزید درج ذیل فرض کریں۔

$$\lim_{n\to\infty} \sqrt[n]{a_n} = \rho$$

۱۳۵۸۸ تب

۱۳۵۸۹ ا. $\rho < 1$ کی صورت میں یہ تسلسل مرتکز ہو گا،

۱۳۵۹۰ ب. $\rho > 1$ اور لامتناہی ρ کی صورت میں یہ تسلسل منفرج ہو گا،

۱۳۵۹۱ ج. $\rho = 1$ کی صورت میں پرکھ غیر فیصلہ کن ہو گا۔

۱۳۵۹۲ □

۱۳۵۹۳ ثبوت پرکھ:

۱۳۵۹۴ ا. $[\rho < 1]$ ہم ϵ اتنا چھوٹا لیتے ہیں کہ $\rho + \epsilon < 1$ ہو۔ چونکہ $\sqrt[n]{a_n} \to \rho$ ہے لہٰذا آخر کار ρ اور اجزاء $\sqrt[n]{a_n}$ کے بیچ فاصلہ

۱۳۵۹۵ ϵ سے کم ہو گا۔ دوسرے لفظوں میں ایک ایسا اشاریہ $M \geq N$ پایا جاتا ہے جس کے لئے درج ذیل ہو گا۔

$$\sqrt[n]{a_n} < \rho + \epsilon \qquad (n \geq M)$$

۱۳۵۹۶ تب درج ذیل بھی درست ہو گا۔

$$a_n < (\rho + \epsilon)^n \qquad (n \geq M)$$

اب ہندسی تسلسل $\sum_{n=M}^{\infty}(\rho+\epsilon)^n$ جس کی نسبت $(\rho+\epsilon) < 1$ ہو مرتکز ہوتا ہے۔ یوں موازنہ کرتے ہوئے ہم دیکھتے ہیں کہ $\sum_{n=M}^{\infty} a_n$ بھی مرتکز ہو گا۔ یوں درج ذیل مرتکز ہو گا۔

$$\sum_{n=1}^{\infty} a_n = a_1 + a_2 + \cdots + a_{M-1} + \sum_{n=M}^{\infty} a_n$$

ب. $[1 < \rho \leq \infty]$ کسی عدد صحیح M سے آگے تمام اشاریہ کے لئے $\sqrt[n]{a_n} > 1$ ہو گا لہٰذا تمام $n > M$ کے لئے $a_n > 1$ ہو گا۔ اس تسلسل کے اجزاء صفر پر مرکوز نہیں ہیں۔ یوں n ویں جزو پرکھ کے تحت یہ تسلسل منفرج ہو گا۔

ج. $[\rho = 1]$ تسلسل $\sum_{n=1}^{\infty}\frac{1}{n}$ اور $\sum_{n=1}^{\infty}\frac{1}{n^2}$ سے ظاہر ہے کہ $\rho = 1$ کے لئے یہ پرکھ غیر فیصلہ کن ہے۔ اگرچہ ان دونوں تسلسل میں $\sqrt[n]{a_n} \to 1$ ہے، پہلا تسلسل منفرج جبکہ دوسرا تسلسل مرتکز ہے۔

□

مثال ۹.۳۸: **(مثال ۹.۳۷ جاری)**

اگر $a_n = \begin{cases} n/2^n & \text{n طاق} \\ 1/2^n & \text{n جفت} \end{cases}$ ہو تب کیا $\sum a_n$ مرتکز ہو گا؟

حل: ہم n واں جذر پرکھ زیر استعمال لاتے ہیں جو

$$\sqrt[n]{a_n} = \begin{cases} \frac{\sqrt[n]{n}}{2} & n \text{ طاق} \\ \frac{1}{2} & n \text{ جفت} \end{cases}$$

دیتا ہے لہٰذا

$$\frac{1}{2} \leq \sqrt[n]{a_n} \leq \frac{\sqrt[n]{n}}{2}$$

ہو گا۔ چونکہ $\sqrt[n]{n} \to 1$ ہے (جدول ۹.۲) لہٰذا مسئلہ بیچ کے تحت $\lim_{n\to\infty}\sqrt[n]{a_n} = \frac{1}{2}$ ہو گا۔ یہ حد 1 سے کم ہے لہٰذا n ویں جذر پرکھ کے تحت دیا گیا تسلسل مرتکز ہو گا۔ □

مثال ۹.۳۹: درج ذیل میں کونسا تسلسل مرتکز اور کونسا منفرج ہے؟

ا. $\sum_{n=1}^{\infty}\frac{n^2}{2^n}$ ب. $\sum_{n=1}^{\infty}\frac{2^n}{n^2}$

حل:

۱۳۶۱۵ ا. چونکہ

$$\sqrt[n]{\frac{n^2}{2^n}} = \frac{\sqrt[n]{n^2}}{\sqrt[n]{2^n}} = \frac{(\sqrt[n]{n})^2}{2} \to \frac{1}{2} < 1$$

۱۳۶۱۶ ہے لہٰذا $\sum_{n=1}^{\infty} \frac{n^2}{2^n}$ مرتکز ہو گا۔

۱۳۶۱۷ ب. چونکہ

$$\sqrt[n]{\frac{2^n}{n^2}} = \frac{2}{(\sqrt[n]{n})^2} \to \frac{2}{1} > 1$$

۱۳۶۱۸ ہے لہٰذا $\sum_{n=1}^{\infty} \frac{2^n}{n^2}$ منفرج ہو گا۔

۱۳۶۱۹ □

۱۳۶۲۰ **سوالات**

۱۳۶۲۱ **ارتکاز اور انفراج معلوم کرنا**

۱۳۶۲۲ سوال ۹.۳۱۴ تا سوال ۹.۳۳۹ میں کون سا تسلسل مرتکز اور کون سا منفرج ہے؟ اپنے جواب کی وجہ پیش کریں۔ (جواب حاصل کرنے کے ایک سے زیادہ طریقے
۱۳۶۲۳ ہو سکتے ہیں۔)

۱۳۶۲۴ سوال ۹.۳۱۴: $\sum_{n=1}^{\infty} \frac{n^{\sqrt{2}}}{2^n}$

۱۳۶۲۵ سوال ۹.۳۱۵: $\sum_{n=1}^{\infty} n^2 e^{-n}$

۱۳۶۲۶ سوال ۹.۳۱۶: $\sum_{n=1}^{\infty} n! e^{-n}$

۱۳۶۲۷ سوال ۹.۳۱۷: $\sum_{n=1}^{\infty} \frac{n!}{10^n}$

۱۳۶۲۸ سوال ۹.۳۱۸: $\sum_{n=1}^{\infty} \frac{n^{10}}{10^n}$

۱۳۶۲۹ سوال ۹.۳۱۹: $\sum_{n=1}^{\infty} \left(\frac{n-2}{n}\right)^n$

۱۳۶۳۰ سوال ۹.۳۲۰: $\sum_{n=1}^{\infty} \frac{2+(-1)^n}{1.25^n}$

۱۴۶۳۱ سوال ۹.۳۲۱: $\sum_{n=1}^{\infty} \frac{(-2)^n}{3^n}$

۱۴۶۳۲ سوال ۹.۳۲۲: $\sum_{n=1}^{\infty} \left(1 - \frac{3}{n}\right)^n$

۱۴۶۳۳ سوال ۹.۳۲۳: $\sum_{n=1}^{\infty} \left(1 - \frac{1}{3n}\right)^n$

۱۴۶۳۴ سوال ۹.۳۲۴: $\sum_{n=1}^{\infty} \frac{\ln n}{n^3}$

۱۴۶۳۵ سوال ۹.۳۲۵: $\sum_{n=1}^{\infty} \frac{(\ln n)^n}{n^n}$

۱۴۶۳۶ سوال ۹.۳۲۶: $\sum_{n=1}^{\infty} \left(\frac{1}{n} - \frac{1}{n^2}\right)$

۱۴۶۳۷ سوال ۹.۳۲۷: $\sum_{n=1}^{\infty} \left(\frac{1}{n} - \frac{1}{n^2}\right)^n$

۱۴۶۳۸ سوال ۹.۳۲۸: $\sum_{n=1}^{\infty} \frac{\ln n}{n}$

۱۴۶۳۹ سوال ۹.۳۲۹: $\sum_{n=1}^{\infty} \frac{n \ln n}{2^n}$

۱۴۶۴۰ سوال ۹.۳۳۰: $\sum_{n=1}^{\infty} \frac{(n+1)(n+2)}{n!}$

۱۴۶۴۱ سوال ۹.۳۳۱: $\sum_{n=1}^{\infty} e^{-n}(n^3)$

۱۴۶۴۲ سوال ۹.۳۳۲: $\sum_{n=1}^{\infty} \frac{(n+3)!}{3!n!3^n}$

۱۴۶۴۳ سوال ۹.۳۳۳: $\sum_{n=1}^{\infty} \frac{n2^n(n+1)!}{3^n n!}$

۱۴۶۴۴ سوال ۹.۳۳۴: $\sum_{n=1}^{\infty} \frac{n!}{(2n+1)!}$

۱۴۶۴۵ سوال ۹.۳۳۵: $\sum_{n=1}^{\infty} \frac{n!}{n^n}$

۱۴۶۴۶ سوال ۹.۳۳۶: $\sum_{n=2}^{\infty} \frac{n}{(\ln n)^n}$

۱۳۶۴۷ سوال ۹.۳۳۷: $\sum_{n=2}^{\infty} \frac{n}{(\ln n)^{(n/2)}}$

۱۳۶۴۸ سوال ۹.۳۳۸: $\sum_{n=1}^{\infty} \frac{n! \ln n}{n(n+2)!}$

۱۳۶۴۹ سوال ۹.۳۳۹: $\sum_{n=1}^{\infty} \frac{3^n}{n^3 2^n}$

۱۳۶۵۰ سوال ۹.۳۴۰ تا سوال ۹.۳۵۱ میں کون سے تسلسل مرتکز اور کون سے منفرج ہیں؟ اپنے جواب کی وجہ پیش کریں۔

۱۳۶۵۱ سوال ۹.۳۴۰: $a_1 = 2, \quad a_{n+1} = \frac{1+\sin n}{n} a_n$

۱۳۶۵۲ سوال ۹.۳۴۱: $a_1 = 1, \quad a_{n+1} = \frac{1+\tan^{-1} n}{n} a_n$

۱۳۶۵۳ سوال ۹.۳۴۲: $a_1 = \frac{1}{3}, \quad a_{n+1} = \frac{3n-1}{2n+5} a_n$

۱۳۶۵۴ سوال ۹.۳۴۳: $a_1 = 3, \quad a_{n+1} = \frac{n}{n+1} a_n$

۱۳۶۵۵ سوال ۹.۳۴۴: $a_1 = 2, \quad a_{n+1} = \frac{2}{n} a_n$

۱۳۶۵۶ سوال ۹.۳۴۵: $a_1 = 5, \quad a_{n+1} = \frac{\sqrt[n]{n}}{2} a_n$

۱۳۶۵۷ سوال ۹.۳۴۶: $a_1 = 1, \quad a_{n+1} = \frac{1+\ln n}{n} a_n$

۱۳۶۵۸ سوال ۹.۳۴۷: $a_1 = \frac{1}{2}, \quad a_{n+1} = \frac{n+\ln n}{n+10} a_n$

۱۳۶۵۹ سوال ۹.۳۴۸: $a_1 = \frac{1}{3}, \quad a_{n+1} = \sqrt[n]{a_n}$

۱۳۶۶۰ سوال ۹.۳۴۹: $a_1 = \frac{1}{2}, \quad a_{n+1} = (a_n)^{n+1}$

۱۳۶۶۱ سوال ۹.۳۵۰: $a_n = \frac{2^n n! n!}{(2n)!}$

۱۳۶۶۲ سوال ۹.۳۵۱: $a_n = \frac{(3n)!}{n!(n+1)!(n+2)!}$

۱۳۶۶۳ سوال ۹.۳۵۲ تا سوال ۹.۳۵۷ میں مرتکز اور منفرج تسلسل کی نشاندہی کریں۔ وجہ بھی پیش کریں۔

۱۳۶۶۴ سوال ۹.۳۵۲: $\sum_{n=1}^{\infty} \frac{(n!)^n}{(n^n)^2}$

۱۳۶۶۵ سوال ۹.۳۵۳: $\sum_{n=1}^{\infty} \frac{(n!)^n}{n^{(n^2)}}$

۱۳۶۶۶ سوال ۹.۳۵۴: $\sum_{n=1}^{\infty} \frac{n^n}{2^{(n^2)}}$

۱۳۶۶۷ سوال ۹.۳۵۵: $\sum_{n=1}^{\infty} \frac{n^n}{(2^n)^2}$

سوال ۹.۳۵۶: $\sum_{n=1}^{\infty} \frac{1\cdot 3\cdot\cdots\cdot(2n-1)}{4^n 2^n n!}$

سوال ۹.۳۵۷: $\sum_{n=1}^{\infty} \frac{1\cdot 3\cdot\cdots\cdot(2n-1)}{[2\cdot 4\cdot\cdots\cdot(2n)](3^n+1)}$

نظریہ اور مثالیں

سوال ۹.۳۵۸: p تسلسل کے ساتھ یا تناسبی پرکھ اور ناہی n واں جذر پرکھ کارآمد ثابت ہوتا ہے۔ انہیں درج ذیل پر لاگو کر کے دکھائیں کہ دونوں پرکھ اس کی ارتکاز یا انفراج دریافت کرنے سے قاصر ہیں۔

$$\sum_{n=1}^{\infty} \frac{1}{n^p}$$

سوال ۹.۳۵۹: دکھائیں کہ تناسبی پرکھ اور n واں جذر پرکھ درج ذیل کی ارتکاز یا انفراج معلوم نہیں کر سکتے ہیں۔

$$\sum_{n=2}^{\infty} \frac{1}{(\ln n)^p} \qquad p \text{ مستقل}$$

سوال ۹.۳۶۰: فرض کریں $a_n = \begin{cases} n/2^n & n \text{ عدد مفرد} \\ 1/2^n & \text{دیگر صورت} \end{cases}$ ہے۔ کیا $\sum a_n$ مرتکز ہے؟ اپنے جواب کی وجہ پیش کریں۔

۹.۸ بدلتا تسلسل، مطلق اور مشروط ارتکاز

جس تسلسل کے اجزاء یک بعد دیگرے مثبت اور منفی ہوں کو **بدلتا تسلسل**[۳۲] کہتے ہیں جس کی تین مثالیں درج ذیل ہیں۔

$$1 - \frac{1}{2} + \frac{1}{3} - \frac{1}{4} + \frac{1}{5} - \cdots + \frac{(-1)^{n+1}}{n} + \cdots \tag{۱}$$

$$-2 + 1 - \frac{1}{2} + \frac{1}{4} - \frac{1}{8} + \cdots + \frac{(-1)^n 4}{2^n} + \cdots \tag{۲}$$

$$1 - 2 + 3 - 4 + 5 - 6 + \cdots + (-1)^{n+1} n + \cdots \tag{۳}$$

ہم جلد دیکھیں گے کہ مساوات ۱ میں دیا گیا تسلسل، جس کو **بدلتا ہارمونی تسلسل**[۳۳] کہتے ہیں، مرتکز ہے۔ مساوات ۲ میں نسبت $r = -\frac{1}{2}$ کا ہندسی تسلسل دیا گیا ہے جو $-\frac{-2}{1+(1/2)} = -\frac{4}{3}$ پر مرکوز ہے۔ مساوات ۳ کا n واں جزو صفر تک نہیں پہنچتا لہٰذا یہ تسلسل منفرج ہو گا۔

---

[۳۲] alternatingseries
[۳۳] alternatingharmonicseries

۱۳۶۸۱ ہم بدلتا ہارمونی تسلسل کا ارتکاز ثابت کرنے کے لئے بدلتا تسلسل پرکھ استعمال کرتے ہیں۔

۱۳۶۸۲ مسئلہ ۹.۸: **بدلتا تسلسل پرکھ (مسئلہ لیبنٹز)**

۱۳۶۸۳ اگر تسلسل

$$\sum_{n=1}^{\infty}(-1)^{n+1}u_n = u_1 - u_2 + u_3 - u_4 + \cdots$$

۱۳۶۸۴ درج ذیل تینوں شرائط کو مطمئن کرتا ہو تب یہ تسلسل مرتکز ہو گا۔

۱۳۶۸۵ ا. تمام u_n مثبت ہوں،

۱۳۶۸۶ ب. تمام $n \geq N$ کے لئے $u_n \geq u_{n+1}$ ہو، جہاں N کوئی عدد صحیح ہے،

۱۳۶۸۷ ج. $u_n \to 0$

۱۳۶۸۸ ثبوت: جفت n، مثلاً $n = 2m$، کی صورت میں ابتدائی n اجزاء کا مجموعہ درج ذیل ہو گا۔

$$\begin{aligned} s_{2m} &= (u_1 - u_2) + (u_3 - u_4) + \cdots + (u_{2m-1} - u_{2m}) \\ &= u_1 - (u_2 - u_3) - (u_4 - u_5) - \cdots - (u_{2m-2} - u_{2m-1}) - u_{2m} \end{aligned}$$

۱۳۶۸۹ پہلی مساوات میں قوسین میں بند قیمتیں مثبت یا صفر ہیں لہٰذا s_{2m} درحقیقت m غیر منفی اجزاء کا مجموعہ ہو گا۔ یوں $s_{2m+2} \geq s_{2m}$ ہو گا اور تسلسل

۱۳۶۹۰ $\{s_{2m}\}$ غیر گھٹتا ہو گا۔ دوسری مساوات کے تحت $s_{2m} \leq u_1$ ہو گا۔ چونکہ $\{s_{2m}\}$ غیر گھٹتا اور اوپر سے محدود تسلسل ہے لہٰذا اس کا حد

$$\lim_{n\to\infty} s_{2m} = L \tag{۴}$$

۱۳۶۹۱ موجود ہو گا۔

۱۳۶۹۲ اگر n طاق ہو، مثلاً $n = 2m+1$، تب ابتدائی n اجزاء کا مجموعہ $s_{2m+1} = s_{2m} + u_{2m+1}$ ہو گا۔ چونکہ $u_n \to 0$ ہے لہٰذا

$$\lim_{m\to\infty} u_{2m+1} = 0$$

۱۳۶۹۳ ہو گا اور $m \to \infty$ کرتے ہوئے

$$s_{2m+1} = s_{2m} + u_{2m+1} \to L + 0 = L \tag{۵}$$

۱۳۶۹۴ ہو گا۔ مساوات ۴ اور مساوات ۵ ملا کر $\lim_{n\to\infty} s_n = L$ دیتے ہیں (سوال ۹.۵۳)۔

۱۳۶۹۵ □

۱۳۶۹۶ مثال ۹.۴۰: بدلتا ہارمونی تسلسل

$$\sum_{n=1}^{\infty}(-1)^{n+1}\frac{1}{n} = 1 - \frac{1}{2} + \frac{1}{3} - \frac{1}{4} + \cdots$$

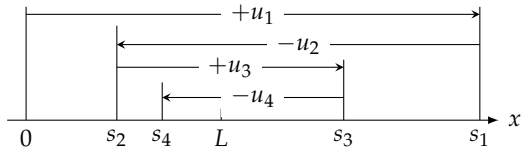

شکل ۹.۲۲: اس بدلتے تسلسل کے جزوی مجموعات جو $N = 1$ کے لئے مسئلہ ۹.۸ کے شرائط کو مطمئن کرتا ہو۔

مسئلہ ۹.۸ کے تینوں شرائط کو مطمئن کرتا ہے لہٰذا یہ تسلسل مرتکز ہو گا۔ □

مسئلہ ۹.۸ کے تینوں شرائط کو $N = 1$ کے لئے مطمئن کرتے ہوئے بدلتے ہارمونی تسلسل کے جزوی مجموعوں کی ترسیم (شکل ۹.۲۲) سے ہم دیکھ سکتے ہیں کہ یہ اپنی حد L تک کیسے پہنچتا ہے۔ (سوال ۹.۴۲۳ میں آپ کو $N > 1$ کی صورت میں شکل بنانے کو کہا گیا ہے۔) محور x کے مبدا سے شروع کرتے ہوئے ہم $s_1 = u_1$ فاصلہ طے کرتے ہیں۔ $s_2 = u_1 - u_2$ تک پہنچنے کی خاطر ہم یہاں سے الٹ رخ u_2 چلتے ہیں۔ چونکہ $u_2 \leq u_1$ ہے لہٰذا ہم مبدا کی دوسری جانب نہیں جائیں گے۔ ہم اسی طرح آگے پیچھے چلتے رہتے ہیں۔ ہر $n \geq N$ قدم پر $u_{n+1} < u_n$ کی وجہ سے ہمارا قدم گزشتہ قدم سے چھوٹا یا اس کے برابر ہو گا۔ چونکہ n بڑھانے سے n واں جزو صفر تک پہنچتا ہے لہٰذا ہر اگلا قدم چھوٹا ہوتا جائے گا اور ہم حد L کی ایک جانب اور دوسری جانب قدم رکھتے ہوئے L کے نزدیک تر ہوتے جائیں گے۔ یک بعد دیگرے ہر دو مجموعوں s_n اور s_{n+1} کے بیچ حد L پایا جائے گا لہٰذا حد اور s_n میں فرق u_{n+1} سے کم ہو گا۔

درج ذیل کی وجہ سے ہم مرتکز بدلتے تسلسل کے مجموعات کی قیمت کا اندازہ لگا سکتے ہیں۔

$$|L - s_n| < u_{n+1} \qquad\qquad n \geq N$$

مسئلہ ۹.۹: **مسئلہ بدلتے تسلسل کا اندازہ**

اگر بدلتا تسلسل $\sum_{n=1}^{\infty}(-1)^{n+1}u_n$ مسئلہ ۹.۸ کے تین شرائط مطمئن کرتا ہو تب $n \geq N$ کے لئے تسلسل کا مجموعہ L تخمیناً

$$s_n = u_1 - u_2 + \cdots + (-1)^{n+1}u_n$$

ہو گا جس میں مطلق خلل کی قیمت u_{n+1} سے کم ہو گی جو پہلے غیر مستعمل جزو کی عددی قیمت ہے۔ مزید باقی $L - s_n$ کی علامت وہی ہو گی جو پہلی غیر مستعمل جزو کی علامت ہو۔

مثال ۹.۴۱: ہم مسئلہ ۹.۹ درج ذیل تسلسل پر لاگو کرتے ہیں جس کا مجموعہ ہم جانتے ہیں۔

$$\sum_{n=0}^{\infty}(-1)^n\frac{1}{2^n} = 1 - \frac{1}{2} + \frac{1}{4} - \frac{1}{8} + \frac{1}{16} - \frac{1}{32} + \frac{1}{64} - \frac{1}{128}\Big| + \frac{1}{256} - \cdots$$

یہ مسئلہ کہتا ہے کہ تسلسل کے آٹھ اجزاء لینے سے ہم مثبت مقدار رد کرتے ہیں جس کی قیمت $\frac{1}{256}$ سے کم ہو گی۔ ابتدائی آٹھ اجزاء کا مجموعہ

۱۳۷۱۳ $0.664\,062\,5$ ہے۔اس تسلسل کا مجموعہ درج ذیل ہے۔

$$\frac{1}{1-(-1/2)} = \frac{1}{3/2} = \frac{2}{3}$$

۱۳۷۱۴ مجموعہ اور تخمینی قیمت میں فرق $\frac{2}{3} - 0.664\,062\,5 = 0.002\,604\,166\,6$ ہے جو مثبت اور $\frac{1}{256} = 0.003\,906\,25$ سے کم
۱۳۷۱۵ ہے۔ □

۱۳۷۱۶ **مطلق ارتکاز**

۱۳۷۱۷ تعریف: تسلسل $\sum a_n$ اس صورت **مطلق مرتکز**[۳۴] ہو گا جب مطلق قیمتوں کا مطابقتی تسلسل $\sum |a_n|$ مرتکز ہو۔

۱۳۷۱۸ □

۱۳۷۱۹ ہندسی تسلسل

$$1 - \frac{1}{2} + \frac{1}{4} - \frac{1}{8} + \cdots$$

۱۳۷۲۰ مطلق مرتکز ہے چونکہ مطابقتی مطلق قیمتوں کا درج ذیل تسلسل مرتکز ہے۔

$$1 + \frac{1}{2} + \frac{1}{4} + \frac{1}{8} + \cdots$$

۱۳۷۲۱ بدلتا ہارمونی تسلسل مطلق مرتکز نہیں ہے چونکہ مطابقتی مطلق قیمتوں کا تسلسل (منفرج) ہارمونی تسلسل ہے۔

۱۳۷۲۲ تعریف: جو تسلسل مرتکز ہو مگر مطلق مرتکز نہ ہو **مشروط مرتکز**[۳۵] کہلاتا ہے۔

۱۳۷۲۳ □

۱۳۷۲۴ بدلتا ہارمونی تسلسل مشروط مرتکز ہے۔

۱۳۷۲۵ مطلق ارتکاز دو وجوہات کی وجہ سے اہم ہے۔ پہلی وجہ یہ ہے کہ ہمارے پاس مثبت اجزاء کے تسلسل کی ارتکاز کا اچھے پرکھ ہیں۔ دوسری وجہ یہ کہ کہ مطلق مرتکز
۱۳۷۲۶ تسلسل ہر صورت مرتکز ہو گا۔ یہی اگلے مسئلہ کا موضوع ہے۔

۱۳۷۲۷ مسئلہ ۹.۱۰: **مطلق ارتکاز پرکھ**

۱۳۷۲۸ اگر $\sum_{n=1}^{\infty} |a_n|$ مرتکز ہو تب $\sum_{n=1}^{\infty} a_n$ مرتکز ہو گا۔

---

[۳۴] absolutelyconvergent
[۳۵] conditionalconvergent

۱۴۷۲۹ ثبوت: ہر n کے لئے

$$-|a_n| \leq a_n \leq |a_n| \quad \Longrightarrow \quad 0 \leq a_n + |a_n| \leq 2|a_n|$$

۱۴۷۳۰ ہوگا۔ اگر $\sum_{n=1}^{\infty} |a_n|$ مرتکز ہو تب $\sum_{n=1}^{\infty} 2|a_n|$ مرتکز ہوگا اور بلاواسطہ تقابلی پرکھ کے تحت غیر منفی تسلسل

$$\sum_{n=1}^{\infty} (a_n + |a_n|)$$

۱۴۷۳۱ بھی مرتکز ہوگا۔ ہم مساوات $a_n = (a_n + |a_n|) - |a_n|$ کی مدد سے $\sum_{n=1}^{\infty} a_n$ کو دو مرتکز تسلسل کا فرق

$$\sum_{n=1}^{\infty} a_n = \sum_{n=1}^{\infty} (a_n + |a_n| - |a_n|) = \sum_{n=1}^{\infty} (a_n + |a_n|) - \sum_{n=1}^{\infty} |a_n|$$

۱۴۷۳۲ لکھ سکتے ہیں۔ یوں $\sum_{n=1}^{\infty} a_n$ مرتکز ہوگا۔

۱۴۷۳۳ □

۱۴۷۳۴ ہم مسئلہ ۹.۱۰ کو یوں بھی پڑھ سکتے ہیں کہ ہر مطلق مرتکز تسلسل مرتکز ہوگا البتہ ضروری نہیں ہے کہ مرتکز تسلسل مطلق مرتکز ہو۔

۱۴۷۳۵ مثال ۹.۴۲: تسلسل $\sum_{n=1}^{\infty} (-1)^{n+1} \frac{1}{n^2} = 1 - \frac{1}{4} + \frac{1}{9} - \frac{1}{16} + \cdots$ کا مطابقتی مثبت اجزاء کا تسلسل

$$\sum_{n=1}^{\infty} \frac{1}{n^2} = 1 + \frac{1}{4} + \frac{1}{9} + \frac{1}{16} + \cdots$$

۱۴۷۳۶ ہے جو مرتکز ہے۔ یوں اصل تسلسل اس لئے مرتکز ہے کہ یہ مطلق مرتکز ہے۔ □

۱۴۷۳۷ مثال ۹.۴۳: تسلسل $\sum_{n=1}^{\infty} \frac{\sin n}{n^2} = \frac{\sin 1}{1} + \frac{\sin 2}{4} + \frac{\sin 3}{9} + \cdots$ کا مطابقتی مثبت اجزاء کا تسلسل درج ذیل ہے

$$\sum_{n=1}^{\infty} \left| \frac{\sin n}{n^2} \right| = \frac{|\sin 1|}{1} + \frac{|\sin 2|}{4} + \frac{|\sin 3|}{9} + \cdots$$

۱۴۷۳۸ جس کا ارتکاز $\sum_{n=1}^{\infty} \frac{1}{n^2}$ کے ساتھ موازنہ کرنے سے دیکھا جا سکتا ہے جہاں ہر n کے لئے $|\sin n| \leq 1$ ہوگا۔ چونکہ اصل تسلسل مطلق مرتکز
۱۴۷۳۹ ہے، لہٰذا یہ مرتکز ہوگا۔ □

۱۴۷۴۰ مثال ۹.۴۴: **بدلتا p تسلسل**

۱۴۷۴۱ مثبت مستقل p کی صورت میں ترتیب $\left\{ \frac{1}{n^p} \right\}$ گھٹتا ترتیب ہے جس کا حد صفر ہے۔ یوں بدلتا p تسلسل

$$\sum_{n=1}^{\infty} \frac{(-1)^{n-1}}{n^p} = 1 - \frac{1}{2^p} + \frac{1}{3^p} - \frac{1}{4^p} + \cdots, \quad p > 0$$

مرتکز ہوگا۔

اگر $p > 1$ ہو تب یہ مطلق مرتکز تسلسل ہوگا۔ اگر $p \leq 1$ ہو تب یہ مشروط مرتکز تسلسل ہوگا۔

$$1 - \frac{1}{\sqrt{2}} + \frac{1}{\sqrt{3}} - \frac{1}{\sqrt{4}} + \cdots \qquad \text{مشروط مرتکز}$$

$$1 - \frac{1}{2^{3/2}} + \frac{1}{3^{3/2}} - \frac{1}{4^{3/2}} + \cdots \qquad \text{مطلق مرتکز}$$

□

تسلسل کی ترتیب نو

مسئلہ ۹.۱۱: **مطلق مرتکز تسلسل کا مسئلہ ترتیب نو**

اگر $\sum_{n=1}^{\infty} a_n$ مطلق مرتکز ہو اور ترتیب $\{a_n\}$ کے اجزاء کی ترتیب نو کر کے انہیں $b_1, b_2, \cdots, b_n, \cdots$ لکھا جائے تب $\sum b_n$ مطلق مرتکز ہوگا اور درج ذیل ہوگا۔

$$\sum_{n=1}^{\infty} a_n = \sum_{n=1}^{\infty} b_n$$

(اس مسئلہ کی ثبوت کے خاکہ کے لئے سوال ۹.۴۲۰ دیکھیں۔)

مثال ۹.۴۵: ہم نے مثال ۹.۴۲ میں دیکھا کہ تسلسل

$$1 - \frac{1}{4} + \frac{1}{9} - \frac{1}{16} + \cdots + (-1)^{n-1}\frac{1}{n^2} + \cdots$$

مطلق مرتکز ہے۔ اس کی ترتیب نو کرتے ہوئے ابتدائی جزو مثبت اور اس کے بعد دو منفی اجزاء منتخب کیے جا سکتے ہیں۔ اس کے بعد تین مثبت اور چار منفی اجزاء منتخب کیے جا سکتے ہیں، وغیرہ وغیرہ۔ یوں ایک ہی علامت کے k اجزاء کے بعد الٹ علامت کے $k+1$ اجزاء ہوں گے۔ ایسے تسلسل کے ابتدائی دس اجزاء درج ذیل ہوں گے۔

$$1 - \frac{1}{4} - \frac{1}{16} + \frac{1}{9} + \frac{1}{25} + \frac{1}{49} - \frac{1}{36} - \frac{1}{64} - \frac{1}{100} - \frac{1}{144} + \cdots$$

مسئلہ ترتیب نو کے تحت دونوں تسلسل ایک ہی عدد پر مرتکز ہوں گے۔ اس مثال میں (اگر ہم جانتے کہ ایسا ممکن ہے) ہم خوشی سے دوسرے تسلسل کی جگہ پہلا تسلسل استعمال کرنا چاہیں گے۔ اس سے بھی بہتر ہوتا اگر ہم جانتے کہ ان دونوں تسلسل کا مجموعہ درج ذیل کے برابر ہے۔

$$\sum_{n=1}^{\infty} \frac{1}{(2n-1)^2} - \sum_{n=1}^{\infty} \frac{1}{(2n)^2}$$

(سوال ۹.۴۲۱ دیکھیں۔) □

مثال ۹.۴۶: بدلتے ہارمونی تسلسل کی ترتیب نو

بدلتا ہارمونی تسلسل

$$\frac{1}{1}-\frac{1}{2}+\frac{1}{3}-\frac{1}{4}+\frac{1}{5}-\frac{1}{6}+\frac{1}{7}-\frac{1}{8}+\frac{1}{9}-\frac{1}{10}+\frac{1}{11}-\cdots$$

کی ترتیب نو سے منفرج یا مخصوص قیمت کا تسلسل حاصل کیا جا سکتا ہے۔

ا. $\sum_{n=1}^{\infty}(-1)^{n+1}/n$ کی ترتیب نو سے انفراج: اجزاء $\sum 1/(2n-1)$ کا مجموعہ $+\infty$ کو منفرج جبکہ $\sum(-1/2n)$ کا مجموعہ $-\infty$ کو منفرج ہے۔ ہم جتنے زیادہ طاق اجزاء کے بعد مجموعہ کیوں نہ لیں، آخر کار یہ تواتر سے پائے جانے والے اجزاء کا مجموعہ کسی بھی مقررہ قیمت سے بڑا ہو گا۔ اسی طرح ہم جتنے زیادہ منفی اجزاء کے بعد مجموعہ کیوں نہ لیں، آخر کار تواتر سے پائے جانے والے جفت اجزاء کا یہ مجموعہ کسی بھی مقررہ منفی قیمت سے زیادہ منفی ہو گا۔ اگر ہم چاہیں، ہم پہلے اتنے طاق اجزاء جمع کر سکتے ہیں کہ ان کا مجموعہ مثلاً $+3$ ہو اور اس کے بعد صرف جفت اجزاء جمع کرتے ہوئے مجموعے کو -4 تک پہنچائیں۔ اس کے بعد ہم غیر استعمال شدہ منفی اجزاء شامل کرتے ہوئے کل $+5$ حاصل کر کے اس کے ساتھ اتنے منفی اجزاء شامل کریں کہ -6 حاصل ہو، وغیرہ، وغیرہ۔ اس طرح ہم دونوں اطراف جھولا اختیاری زیادہ کر سکتے ہیں۔

ب. $\sum_{n=1}^{\infty}(-1)^{n+1}/n$ کی ترتیب سے 1 پر ارتکاز: ہم ترتیب نو سے کسی بھی مخصوص قیمت پر بدلتے ہارمونی تسلسل کو مرتکز کر سکتے ہیں۔ فرض کریں ہم 1 پر مرتکز تسلسل حاصل کرنا چاہتے ہیں۔ ہم پہلے جزو $\frac{1}{1}$ سے شروع کر کے $\frac{1}{2}$ منفی کرتے ہیں۔ اس کے بعد $\frac{1}{3}$ اور $\frac{1}{5}$ جمع کرتے ہوئے مجموعہ کو واپس 1 یا اس سے اوپر تک لاتے ہیں۔ اس کے بعد ہم متواتر منفی اجزاء جمع کرتے ہوئے مجموعہ 1 سے نیچے لے جاتے ہیں۔ ہم اسی طرح اجزاء جمع اور منفی کیے جاتے ہیں۔ جب مجموعہ 1 سے تجاوز کرے، ہم منفی اجزاء جمع کرتے ہیں حتٰی کہ مجموعہ 1 یا اس سے کم ہو جائے۔ اس کے بعد ہم مثبت اجزاء جمع کرتے ہیں جب تک مجموعہ 1 یا اس سے زیادہ نہ ہو۔ اس طریقہ کار کو غیر معینہ استعمال کیا جا سکتا ہے۔ چونکہ $n \to \infty$ کرنے سے اصل تسلسل کے جفت اور طاق اجزاء کی قیمتیں 0 تک پہنچتی ہیں لہٰذا نئی تسلسل کا جزوی مجموعہ 1 کے قریب تر ہوتا جائے گا لہٰذا نئے تسلسل کا مجموعہ 1 پر مرتکز ہو گا۔ نیا تسلسل درج ذیل صورت کا ہو گا:

$$\begin{aligned}\frac{1}{1}-\frac{1}{2}+\frac{1}{3}+\frac{1}{5}-\frac{1}{4}+\frac{1}{7}+\frac{1}{9}-\frac{1}{6}+\frac{1}{11}+\frac{1}{13}-\frac{1}{8}+\frac{1}{15}+\frac{1}{17}-\frac{1}{10}\\ +\frac{1}{19}+\frac{1}{21}-\frac{1}{12}+\frac{1}{23}+\frac{1}{25}-\frac{1}{14}+\frac{1}{27}-\frac{1}{16}+\cdots\end{aligned}$$

□

آپ نے دیکھا کہ مشروط مرتکز تسلسل کی ترتیب نو کر کے لا متناہی تعداد کے اجزاء جمع کرتے ہوئے اصل تسلسل سے بہت مختلف مجموعہ حاصل کیا جا سکتا ہے۔ یوں ضروری ہے کہ مشروط مرتکز تسلسل کے اجزاء اسی ترتیب سے جمع کیے جائیں جس ترتیب سے یہ تسلسل میں پائے جاتے ہیں۔

سوالات

ارتکاز اور انفراج معلوم کرنا

سوال ۹.۳۶۱ تا سوال ۹.۳۷۰ میں کونسا بدلتا تسلسل مرتکز اور کونسا منفرج ہے؟ اپنے جواب کی وجہ پیش کریں۔

۱۳۷۷۹ سوال ۹.۳۶۱: $\sum_{n=1}^{\infty} (-1)^{n+1} \frac{1}{n^2}$

۱۳۷۸۰ سوال ۹.۳۶۲: $\sum_{n=1}^{\infty} (-1)^{n+1} \frac{1}{n^{3/2}}$

۱۳۷۸۱ سوال ۹.۳۶۳: $\sum_{n=1}^{\infty} (-1)^{n+1} \left(\frac{n}{10}\right)^n$

۱۳۷۸۲ سوال ۹.۳۶۴: $\sum_{n=1}^{\infty} (-1)^{n+1} \frac{10^n}{n^{10}}$

۱۳۷۸۳ سوال ۹.۳۶۵: $\sum_{n=2}^{\infty} (-1)^{n+1} \frac{1}{\ln n}$

۱۳۷۸۴ سوال ۹.۳۶۶: $\sum_{n=1}^{\infty} (-1)^{n+1} \frac{\ln n}{n}$

۱۳۷۸۵ سوال ۹.۳۶۷: $\sum_{n=2}^{\infty} (-1)^{n+1} \frac{\ln n}{\ln n^2}$

۱۳۷۸۶ سوال ۹.۳۶۸: $\sum_{n=1}^{\infty} (-1)^{n} \ln\left(1 + \frac{1}{n}\right)$

۱۳۷۸۷ سوال ۹.۳۶۹: $\sum_{n=1}^{\infty} (-1)^{n+1} \left(\frac{\sqrt{n}+1}{n+1}\right)$

۱۳۷۸۸ سوال ۹.۳۷۰: $\sum_{n=1}^{\infty} (-1)^{n+1} \frac{3\sqrt{n+1}}{\sqrt{n}+1}$

۱۳۷۸۹ **مطلق ارتکاز**

۱۳۷۹۰ سوال ۹.۳۷۱ تا سوال ۹.۴۰۴ میں کون سے تسلسل مطلق مرتکز، مرتکز اور منفرج ہیں؟ اپنے جواب کی وجہ پیش کریں۔

۱۳۷۹۱ سوال ۹.۳۷۱: $\sum_{n=1}^{\infty} (-1)^{n+1} (0.1)^n$

۱۳۷۹۲ سوال ۹.۳۷۲: $\sum_{n=1}^{\infty} (-1)^{n+1} \frac{(0.1)^n}{n}$

۱۳۷۹۳ سوال ۹.۳۷۳: $\sum_{n=1}^{\infty} (-1)^{n} \frac{1}{\sqrt{n}}$

۱۳۷۹۴ سوال ۹.۳۷۴: $\sum_{n=1}^{\infty} \frac{(-1)^n}{1+\sqrt{n}}$

۱۳۷۹۵ سوال ۹.۳۷۵: $\sum_{n=1}^{\infty} (-1)^{n+1} \frac{n}{n^3+1}$

۱۴۷۹۶ سوال ۹.۳۷۶: $\sum_{n=1}^{\infty} (-1)^{n+1} \frac{n!}{2^n}$

۱۴۷۹۷ سوال ۹.۳۷۷: $\sum_{n=1}^{\infty} (-1)^{n} \frac{1}{n+3}$

۱۴۷۹۸ سوال ۹.۳۷۸: $\sum_{n=1}^{\infty} (-1)^{n} \frac{\sin n}{n^2}$

۱۴۷۹۹ سوال ۹.۳۷۹: $\sum_{n=1}^{\infty} (-1)^{n+1} \frac{3+n}{5+n}$

۱۴۸۰۰ سوال ۹.۳۸۰: $\sum_{n=2}^{\infty} (-1)^{n} \frac{1}{\ln(n^3)}$

۱۴۸۰۱ سوال ۹.۳۸۱: $\sum_{n=1}^{\infty} (-1)^{n+1} \frac{1+n}{n^2}$

۱۴۸۰۲ سوال ۹.۳۸۲: $\sum_{n=1}^{\infty} \frac{(-2)^{n+1}}{n+5^n}$

۱۴۸۰۳ سوال ۹.۳۸۳: $\sum_{n=1}^{\infty} (-1)^{n} n^2 (2/3)^n$

۱۴۸۰۴ سوال ۹.۳۸۴: $\sum_{n=1}^{\infty} (-1)^{n+1} (\sqrt[n]{10})$

۱۴۸۰۵ سوال ۹.۳۸۵: $\sum_{n=1}^{\infty} (-1)^{n} \frac{\tan^{-1} n}{n^2+1}$

۱۴۸۰۶ سوال ۹.۳۸۶: $\sum_{n=2}^{\infty} (-1)^{n+1} \frac{1}{n \ln n}$

۱۴۸۰۷ سوال ۹.۳۸۷: $\sum_{n=1}^{\infty} (-1)^{n} \frac{n}{n+1}$

۱۴۸۰۸ سوال ۹.۳۸۸: $\sum_{n=1}^{\infty} (-1)^{n} \frac{\ln n}{n-\ln n}$

۱۴۸۰۹ سوال ۹.۳۸۹: $\sum_{n=1}^{\infty} \frac{(-100)^n}{n!}$

۱۴۸۱۰ سوال ۹.۳۹۰: $\sum_{n=1}^{\infty} (-5)^{-n}$

۱۴۸۱۱ سوال ۹.۳۹۱: $\sum_{n=1}^{\infty} \frac{(-1)^{n-1}}{n^2+2n+1}$

۱۳۸۱۲ سوال ۹.۳۹۲: $\sum_{n=2}^{\infty}(-1)^n\left(\frac{\ln n}{\ln n^2}\right)^n$

۱۳۸۱۳ سوال ۹.۳۹۳: $\sum_{n=1}^{\infty}\frac{\cos n\pi}{n\sqrt{n}}$

۱۳۸۱۴ سوال ۹.۳۹۴: $\sum_{n=1}^{\infty}\frac{\cos n\pi}{n}$

۱۳۸۱۵ سوال ۹.۳۹۵: $\sum_{n=1}^{\infty}\frac{(-1)^n(n+1)^n}{(2n)^n}$

۱۳۸۱۶ سوال ۹.۳۹۶: $\sum_{n=1}^{\infty}\frac{(-1)^{n+1}(n!)^2}{(2n)!}$

۱۳۸۱۷ سوال ۹.۳۹۷: $\sum_{n=1}^{\infty}(-1)^n\frac{(2n)!}{2^n n! n}$

۱۳۸۱۸ سوال ۹.۳۹۸: $\sum_{n=1}^{\infty}(-1)^n\frac{(n!)^2 3^n}{(2n+1)!}$

۱۳۸۱۹ سوال ۹.۳۹۹: $\sum_{n=1}^{\infty}(-1)^n(\sqrt{n+1}-\sqrt{n})$

۱۳۸۲۰ سوال ۹.۴۰۰: $\sum_{n=1}^{\infty}(-1)^n(\sqrt{n^2+n}-n)$

۱۳۸۲۱ سوال ۹.۴۰۱: $\sum_{n=1}^{\infty}(-1)^n(\sqrt{n+\sqrt{n}}-\sqrt{n})$

۱۳۸۲۲ سوال ۹.۴۰۲: $\sum_{n=1}^{\infty}\frac{(-1)^n}{\sqrt{n}+\sqrt{n+1}}$

۱۳۸۲۳ سوال ۹.۴۰۳: $\sum_{n=1}^{\infty}(-1)^n \operatorname{sech} n$

۱۳۸۲۴ سوال ۹.۴۰۴: $\sum_{n=1}^{\infty}(-1)^n \operatorname{csch} n$

۱۳۸۲۵

۱۳۸۲۶ **خلل کا اندازہ**

۱۳۸۲۷ سوال ۹.۴۰۵ تا سوال ۹.۴۰۸ میں ابتدائی چار اجزاء سے تخمینی مجموعہ حاصل کرنے سے پیدا خلل کا اندازہ لگائیں۔

۱۳۸۲۸ سوال ۹.۴۰۵: $\sum_{n=1}^{\infty}(-1)^{n+1}\frac{1}{n}$ اس تسلسل کا مجموعہ $\ln 2$ ہے۔

۱۳۸۲۹ سوال ۹.۴۰۶: $\sum_{n=1}^{\infty}(-1)^{n+1}\frac{1}{10^n}$

سوال ۹.۴۰۷: $\sum_{n=1}^{\infty}(-1)^{n+1}\frac{(0.01)^n}{n}$ جیسا آپ حصہ ۹.۱۱ میں دیکھیں گے اس تسلسل کا مجموعہ $\ln(1.01)$ ہے۔

سوال ۹.۴۰۸: $\frac{1}{1+t} = \sum_{n=1}^{\infty}(-1)^n t^n, \quad 0 < t < 1$

کیلکولیٹر کا استعمال

سوال ۹.۴۰۹ اور سوال ۹.۴۱۰ میں مجموعہ کی تخمینی قیمت تلاش کریں جس میں خلل کی مقدار 5×10^{-6} سے کم ہو۔

سوال ۹.۴۰۹: $\sum_{n=0}^{\infty}(-1)^n\frac{1}{(2n)!}$ جیسا آپ حصہ ۹.۱۱ میں دیکھیں گے اس کا مجموعہ $\cos 1$ ہے جہاں 1 ریڈیئن میں ہے۔

سوال ۹.۴۱۰: $\sum_{n=0}^{\infty}(-1)^n\frac{1}{n!}$ جیسا آپ حصہ ۹.۱۱ میں دیکھیں گے اس کا مجموعہ e^{-1} ہے۔

نظریہ اور مثالیں

سوال ۹.۴۱۱: (الف) تسلسل $\frac{1}{3} - \frac{1}{2} + \frac{1}{9} - \frac{1}{4} + \frac{1}{27} - \frac{1}{8} + \cdots + \frac{1}{3^n} - \frac{1}{2^n} + \cdots$ مسئلہ ۹.۸ کے کس ایک شرط کو مطمئن نہیں کرتا ہے؟ (ب) اس تسلسل کا مجموعہ تلاش کریں۔

سوال ۹.۴۱۲: کیلکولیٹر

مسئلہ ۹.۸ کے شرائط کو مطمئن کرنے والے بدلتے تسلسل کا حد L کسی بھی دو یک بعد دیگرے جزوی مجموعوں کے بیچ پایا جاتا ہے۔ یوں ہم L کی اندازاً قیمت کے لئے اوسط $\frac{s_n+s_{n+1}}{2} = s_n + \frac{1}{2}(-1)^{n+2}a_{n+1}$ استعمال کر سکتے ہیں۔ بدلتے ہارمونی تسلسل کا تخمینی مجموعہ $s_{20} + \frac{1}{2}\cdot\frac{1}{21}$ کا حساب لگائیں۔ ٹھیک ٹھیک مجموعہ $\ln 2 = 0.6931\cdots$ ہے۔

سوال ۹.۴۱۳: بدلتا تسلسل جو مسئلہ ۹.۸ کے شرائط مطمئن کرتا ہو کے جزوی مجموعہ کے باقی علامت

مسئلہ ۹.۹ کہتا ہے کہ جب مسئلہ ۹.۸ کے شرائط مطمئن کرنے والے تسلسل کے مجموعہ کو تخمیناً اس کے جزوی مجموعہ سے ظاہر کیا جائے تب تسلسل کے باقی اجزاء کے مجموعہ کی علامت پہلے غیر مستعمل جزو کی علامت ہو گی۔ اس فقرے کو ثابت کریں۔ (اشارہ: باقی اجزاء کو دو دو کی گروہوں میں جمع کریں۔)

سوال ۹.۴۱۴: دکھائیں کہ تسلسل $1 - \frac{1}{2} + \frac{1}{2} - \frac{1}{3} + \frac{1}{3} - \frac{1}{4} + \frac{1}{4} - \frac{1}{5} + \frac{1}{5} - \frac{1}{6} + \cdots$ کے ابتدائی $2n$ اجزاء کا مجموعہ درج ذیل تسلسل کے ابتدائی n اجزاء کے مجموعہ کے برابر ہو گا۔

$$\frac{1}{1\cdot 2} + \frac{1}{2\cdot 3} + \frac{1}{3\cdot 4} + \frac{1}{4\cdot 5} + \frac{1}{5\cdot 6} + \cdots$$

کیا یہ تسلسل مرتکز ہیں؟ ابتدائی $2n+1$ اجزاء کا مجموعہ کتنا ہے؟ اگر تسلسل مرتکز ہوں تب ان کا مجموعہ کتنا ہے؟

سوال ۹.۴۱۵: دکھائیں کہ اگر $\sum_{n=1}^{\infty} a_n$ منفرج تب $\sum_{n=1}^{\infty}|a_n|$ بھی منفرج ہو گا۔

سوال ۹.۴۱۶: دکھائیں اگر $\sum_{n=1}^{\infty} a_n$ مطلق مرتکز ہو تب $\left|\sum_{n=1}^{\infty} a_n\right| \leq \sum_{n=1}^{\infty}|a_n|$ ہو گا۔

سوال ۹.۴۱۷: دکھائیں اگر $\sum_{n=1}^{\infty} a_n$ اور $\sum_{n=1}^{\infty} b_n$ دونوں مطلق مرتکز ہوں درج ذیل بھی مطلق مرتکز ہوں گے۔

۱۔ $\sum_{n=1}^{\infty}(a_n+b_n)$ ب۔ $\sum_{n=1}^{\infty}(a_n-b_n)$ ج۔ $\sum_{n=1}^{\infty}ka_n$ (k عدد ہے)

سوال ۹.۴۱۸: مثال دے کر دکھائیں کہ مرتکز $\sum_{n=1}^{\infty}a_n$ اور مرتکز $\sum_{n=1}^{\infty}b_n$ کے باوجود $\sum_{n=1}^{\infty}a_n\cdot b_n$ منفرج ہو سکتا ہے۔

سوال ۹.۴۱۹: آپ چاہتے ہیں کہ مثال ۹.۴۶ میں ترتیب نو سے ایسا تسلسل حاصل کریں جس کا مجموعہ $-\frac{1}{2}$ ہو۔ نئے تسلسل کو $-\frac{1}{2}$ سے شروع کریں۔ جب بھی مجموعہ $-\frac{1}{2}$ کے برابر یا اس سے کم ہو، یک بعد دیگرے مثبت اجزاء شامل کریں حتٰی کہ مجموعہ $-\frac{1}{2}$ سے بڑا ہو۔ اس کے بعد منفی اجزاء شامل کریں حتٰی کہ مجموعہ $-\frac{1}{2}$ کے برابر یا اس سے کم ہو۔ اسی طرح چلتے جائیں حتٰی کہ جزوی مجموعات $-\frac{1}{2}$ سے تین مرتبہ تجاوز کر جائیں اور یہیں رک جائیں یا اس سے ایک قدم پہلے رک جائیں۔ اگر ابتدائی n نئے اجزاء کا مجموعہ s_n ہو تب (n, s_n) ترسیم کر کے جزوی مجموعات کا رویہ واضح کریں۔

سوال ۹.۴۲۰: مسئلہ ۹.۱۱ کے ثبوت کا خاکہ

۱۔ فرض کریں ϵ ایک مثبت حقیقی عدد ہو۔ مزید فرض کریں $L=\sum_{n=1}^{\infty}a_n$ اور $s_k=\sum_{n=1}^{k}a_n$ ہیں۔ دکھائیں کہ کسی اشاریہ N_1 کے لئے اور کسی اشاریہ $N_2\geq N_1$ کے لئے $\sum_{n=N_1}^{\infty}|a_n|\leq\frac{\epsilon}{2}$ اور $\left|s_{N_2}-L\right|<\frac{\epsilon}{2}$ ہوں گے۔ چونکہ تمام اجزاء $a_1, a_2, \cdots, a_{N_2}$ ترتیب $\{b_n\}$ میں کہیں نا کہیں پائے جاتے ہیں لہٰذا ایک ایسا اشاریہ $N_3\geq N_2$ پایا جائے گا کہ اگر $n\geq N_3$ ہو تب $\left(\sum_{k=1}^{n}b_k\right)-s_{N_2}$ زیادہ سے زیادہ اجزاء a_m کا مجموعہ ہو گا جہاں $m\geq N_1$ ہے۔ یوں اگر $n\geq N_3$ تب درج ذیل ہو گا۔

$$\begin{aligned}\left|\sum_{k=1}^{n}b_k-L\right| &\leq \left|\sum_{k=1}^{n}b_k-s_{N_2}\right|+\left|s_{N_2}-L\right|\\ &\leq \sum_{k=N_1}^{\infty}|a_k|+\left|s_{N_2}-L\right|<\epsilon\end{aligned}$$

ب۔ جزو-الف کی بحث کے تحت اگر $\sum_{n=1}^{\infty}a_n$ مطلق مرتکز ہو تب $\sum_{n=1}^{\infty}b_n$ مرتکز اور $\sum_{n=1}^{\infty}a_n=\sum_{n=1}^{\infty}b_n$ ہو گا۔ اب دکھائیں کہ چونکہ $\sum_{n=1}^{\infty}|a_n|$ مرتکز ہے لہٰذا $\sum_{n=1}^{\infty}|a_n|$ پر $\sum_{n=1}^{\infty}|b_n|$ مرتکز ہو گا۔

سوال ۹.۴۲۱:

۱۔ دکھائیں اگر $\sum_{n=1}^{\infty}|a_n|$ مرتکز ہو اور $b_n=\begin{cases}a_n & a_n\geq 0\\ 0 & a_n<0\end{cases}$ ہو تب $\sum_{n=1}^{\infty}b_n$ مرتکز ہو گا۔

ب۔ جزو-ا کا نتیجہ استعمال کرتے ہوئے اسی طرح دکھائیں کہ اگر $\sum_{n=1}^{\infty}|a_n|$ مرتکز ہو اور $c_n=\begin{cases}0 & a_n\geq 0\\ a_n & a_n<0\end{cases}$ ہو تب $\sum_{n=1}^{\infty}c_n$ مرتکز ہو گا۔

دوسرے لفظوں میں مطلق مرتکز تسلسل کی صورت میں اس کے مثبت اجزاء مرتکز تسلسل بناتے ہیں اور اس کے منفی اجزاء مرتکز تسلسل بناتے ہیں۔ مزید $b_n=\frac{a_n+|a_n|}{2}$ اور $c_n=\frac{a_n-|a_n|}{2}$ کی بنا $\sum_{n=1}^{\infty}a_n=\sum_{n=1}^{\infty}b_n+\sum_{n=1}^{\infty}c_n$ ہو گا۔

سوال ۹.۴۲۲: یہاں کیا غلط ہے:
بدلتے ہارمونی تسلسل

$$S = 1 - \frac{1}{2} + \frac{1}{3} - \frac{1}{4} + \frac{1}{5} - \frac{1}{6} + \frac{1}{7} - \frac{1}{8} + \frac{1}{9} - \frac{1}{10} + \frac{1}{11} - \frac{1}{12} + \cdots$$

کے دونوں اطراف کو 2 سے ضرب دے کر

$$2S = 2 - 1 + \frac{2}{3} - \frac{1}{2} + \frac{2}{5} - \frac{1}{3} + \frac{2}{7} - \frac{1}{4} + \frac{2}{9} - \frac{1}{5} + \frac{2}{11} - \frac{1}{6} + \cdots$$

حاصل کریں۔ایک سے نسب نما کے اجزاء جمع کریں، مثلاً $\frac{2}{3} - \frac{1}{3}$ اور $\frac{2}{5} - \frac{1}{5}$ ۔یوں

$$2S = 1 - \frac{1}{2} + \frac{1}{3} - \frac{1}{4} + \frac{1}{5} - \frac{1}{6} + \cdots$$

حاصل ہو گا جہاں بائیں ہاتھ کا تسلسل وہی ہے جہاں سے ہم نے شروع کیا تھا۔یوں $2S = S$ ہو گا جس کے دونوں اطراف کو S سے تقسیم کر کے $2 = 1$ ملتا ہے۔

سوال ۹.۴۲۳: $N > 1$ کی صورت میں مسئلہ ۹.۸ میں تسلسل کا ارتکاز شکل ۹.۲۲ کی طرح ترسیم بنا کر دکھائیں۔

۹.۹ طاقتی تسلسل

اب چونکہ ہم لامتناہی تسلسل کا ارتکاز پرکھ سکتے ہیں لہٰذا ہم اب لامتناہی کثیر رکنی کا مطالعہ کر سکتے ہیں جن کا ذکر حصہ ۹.۴ کی شروع میں کیا گیا۔ تعریف کی رو سے ان کثیر رکنیوں کو کسی متغیر، مثلاً x ، کے طاقتوں کا لامتناہی تسلسل لکھا جاتا ہے لہٰذا ہم ان کثیر رکنیوں کو طاقتی تسلسل کہتے ہیں۔ کثیر رکنیوں کی طرح، طاقتی تسلسلوں کو جمع، منفی، ضرب، تفرق اور تکمل کر کے نئے طاقتی تسلسل حاصل کئے جا سکتے ہیں۔

طاقتی تسلسل اور ارتکاز

ہم باضابطہ تعریف سے ابتدا کرتے ہیں۔

تعریف: نقطہ $x = 0$ کے لحاظ سے **طاقتی تسلسل**[۳۶] سے مراد درج ذیل صورت کا تسلسل ہے۔

$$\sum_{n=0}^{\infty} c_n x^n = c_0 + c_1 x + c_2 x^2 + \cdots + c_n x^n + \cdots \tag{۱}$$

[۳۶] powerseries

نقطہ $x = a$ کے لحاظ سے طاقتی تسلسل سے مراد درج ذیل صورت کا تسلسل ہے

$$\sum_{n=0}^{\infty} c_n(x-a)^n = c_0 + c_1(x-a) + c_2(x-a)^2 + \cdots + c_n(x-a)^n + \cdots \tag{۲}$$

جس میں مرکز[۳۷] a اور عددی سر[۳۸] c_0 ، c_1 ، c_2 ، ...، c_n ، ... مستقل ہیں۔

□

مساوات ۲ میں $a = 0$ پر کرنے سے طاقتی تسلسل کی خصوصی روپ مساوات ا حاصل ہوتی ہے۔

مثال ۹.۴۷: مساوات ا میں تمام عددی سر 1 لینے سے درج ذیل ہندسی طاقتی تسلسل حاصل ہوتا ہے۔

$$\sum_{n=0}^{\infty} x^n = 1 + x + x^2 + \cdots + x^n + \cdots$$

اس ہندسی تسلسل کا پہلا جزو 1 اور نسبت x ہے۔ یہ $|x| < 1$ کے لئے $\frac{1}{1-x}$ پر مرتکز ہے۔ اس حقیقت کا اظہار درج ذیل لکھ کر کیا جاتا ہے۔

$$\frac{1}{1-x} = 1 + x + x^2 + \cdots + x^n + \cdots, \qquad -1 < x < 1 \tag{۳}$$

□

اب تک مساوات ۲ کو ہم دائیں ہاتھ تسلسل کے مجموعہ کا کلیہ استعمال کرتے آرہے ہیں۔ ہم اب اپنی توجہ کا مرکز تبدیل کرتے ہیں۔ ہم دائیں ہاتھ تسلسل کے جزوی مجموعات کو کثیر رکنیاں $P_n(x)$ تصور کرتے ہیں جو بائیں ہاتھ تفاعل کی تخمین دیتے ہیں۔ صفر کے قریب x کی قیمتوں کے لئے تفاعل کی قیمت حاصل کرنے کی خاطر ہم تسلسل کے ابتدائی چند اجزاء کا مجموعہ لے کر تفاعل کی اچھی تخمینی قیمت تلاش کر سکتے ہیں۔ ہاں $x = -1$ یا $x = 1$ کے قریب ہمیں تفاعل کی اچھی تخمین حاصل کرنے کی خاطر تسلسل کے زیادہ اجزاء کا مجموعہ لینا ہوگا شکل ۹.۲۳ میں تفاعل $f(x) = \frac{1}{1-x}$ اور اس کی تخمینی کثیر رکنیاں $y_n = P_n(x)$ دکھائی گئی ہیں۔

مثال ۹.۴۸: درج ذیل طاقتی تسلسل مساوات ۲ کی طرح ہے جہاں $a = 2$ ، $c_0 = 1$ ، $c_1 = -\frac{1}{2}$ ، $c_2 = \frac{1}{4}$ ، ...، $c_n = (-1/2)^n$ ہیں۔

$$1 - \frac{1}{2}(x-2) + \frac{1}{4}(x-2)^2 + \cdots + \left(-\frac{1}{2}\right)^n (x-2)^n + \cdots \tag{۴}$$

یہ ایک ہندسی تسلسل ہے جس کا ابتدائی جزو 1 اور نسبت $r = -\frac{x-2}{2}$ ہے۔ یہ تسلسل $\left|\frac{x-2}{2}\right| < 1$ یعنی $0 < x < 4$ کے لئے مرکوز ہے۔ اس کا مجموعہ

$$\frac{1}{1-r} = \frac{1}{1+\frac{x-2}{2}} = \frac{2}{x}$$

---

[۳۷] center
[۳۸] coefficients

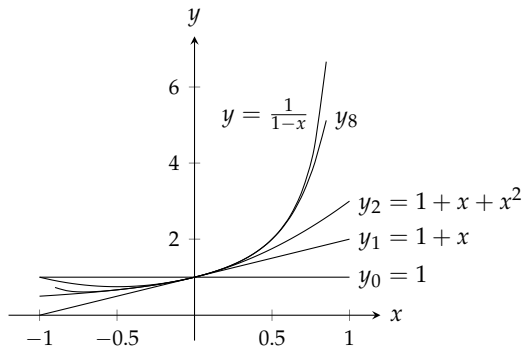

شکل ۹.۲۳: تفاعل $f(x) = \frac{1}{1-x}$ اور اس کی چار تخمینی کثیر رکنیاں (مثال ۹.۴۷)۔

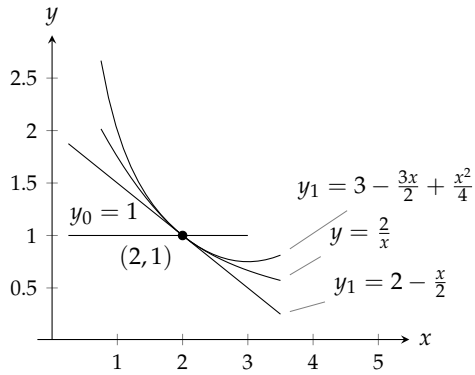

شکل ۹.۲۴: تفاعل $f(x) = \frac{2}{x}$ اور اس کی ابتدائی تین تخمینی کثیر رکنیاں (مثال ۹.۴۸)۔

۱۳۹۰۷ ہے لہٰذا

$$\frac{2}{x} = 1 - \frac{1}{2}(x-2) + \frac{1}{4}(x-2)^2 + \cdots + \left(-\frac{1}{2}\right)^n (x-2)^n + \cdots, \quad 0 < x < 4$$

۱۳۹۰۸ ہوگا۔ مساوات ۴ کا تسلسل 2 کے قریب x کی قیمتوں کے لئے $f(x) = \frac{2}{x}$ کی کارآمد تخمینی کثیر رکنیاں پیدا کرتا ہے (شکل ۹.۲۴):

$$\begin{aligned}
P_0(x) &= 1 \\
P_1(x) &= 1 - \frac{1}{2}(x-2) = 2 - \frac{x}{2} \\
P_2(x) &= 1 - \frac{1}{2}(x-2) + \frac{1}{4}(x-2)^2 = 3 - \frac{3x}{2} + \frac{x^2}{4}
\end{aligned}$$

۱۳۹۰۹ □

مثال ۹.۴۹: درج ذیل طاقتی تسلسل x کی کن قیمتوں کے لئے ارتکاز پذیر ہے؟

$$\sum_{n=1}^{\infty}(-1)^{n-1}\frac{x^n}{n} = x - \frac{x^2}{2} + \frac{x^3}{3} - \cdots \qquad \text{(ا)}$$

$$\sum_{n=1}^{\infty}(-1)^{n-1}\frac{x^{2n-1}}{2n-1} = x - \frac{x^3}{3} + \frac{x^5}{5} - \cdots \qquad \text{(ب)}$$

$$\sum_{n=0}^{\infty}\frac{x^n}{n!} = 1 + x + \frac{x^2}{2!} + \frac{x^3}{3!} + \cdots \qquad \text{(ج)}$$

$$\sum_{n=0}^{\infty} n!x^n = 1 + x + 2!x^2 + 3!x^3 + \cdots \qquad \text{(د)}$$

حل: تناسبی پرکھ کا اطلاق تسلسل $\sum|u_n|$ پر کریں جہاں زیر غور تسلسل n جزو u_n ہے۔ نتائج شکل ۹.۲۵ میں دکھائے گئے ہیں۔

ا. $\left|\frac{u_{n+1}}{u_n}\right| = \frac{n}{n+1}|x| \to |x|$

یہ تسلسل $|x| < 1$ کے لئے مطلق مرتکز ہے۔ $|x| > 1$ کے لئے چونکہ اس کا n واں جزو صفر تک نہیں پہنچتا لہٰذا تسلسل منفرج ہو گا جبکہ $x = 1$ پر ہمیں بدلتا ہارمونی تسلسل $1 - \frac{1}{2} + \frac{1}{3} - \frac{1}{4} + \cdots$ حاصل ہوتا ہے جو مرتکز ہے۔ $x = -1$ پر ہمیں ہارمونی تسلسل کا نفی $-1 - \frac{1}{2} - \frac{1}{3} - \frac{1}{4} - \cdots$ ملتا ہے جو منفرج ہے۔ یوں تسلسل (ا) وقفہ $-1 < x \leq 1$ کے لئے مرتکز اور اس وقفہ کے باہر منفرج ہو گا۔

ب. $\left|\frac{u_{n+1}}{u_n}\right| = \frac{2n-1}{2n+1}x^2 \to x^2$

$x^2 < 1$ کے لئے تسلسل مطلق مرتکز ہے۔ چونکہ $x^2 > 1$ پر n واں جزو صفر پر مرکوز نہیں ہے لہٰذا تسلسل منفرج ہو گا۔ $x = 1$ پر تسلسل $1 - \frac{1}{3} + \frac{1}{5} - \frac{1}{7} + \cdots$ دیتا ہے جو مسئلہ بدلتا تسلسل کے تحت مرتکز ہو گا۔ $x = -1$ پر بھی بدلتا تسلسل ملتا ہے جو ارتکاز کے شرائط کو مطمئن کرتا ہے لہٰذا یہ مرتکز ہو گا۔ نقطہ $x = 1$ پر تسلسل کی قیمت نقطہ $x = -1$ پر تسلسل کی قیمت کا منفی ہے۔ تسلسل (ب) وقفہ $-1 \leq x \leq 1$ پر مرتکز جب کے اس کے باہر منفرج ہو گا۔

ج. $\left|\frac{u_{n+1}}{u_n}\right| = \left|\frac{x^{n+1}}{(n+1)!}\cdot\frac{n!}{x^n}\right| = \frac{|x|}{n+1} \to 0$

تسلسل تمام x کے لئے مطلق مرتکز ہے۔

د. $\left|\frac{u_{n+1}}{u_n}\right| = \left|\frac{(n+1)!x^{n+1}}{n!x^n}\right| = (n+1)|x| \to \infty$

ماسوائے $x = 0$ تسلسل x کی تمام قیمتوں کے لئے منفرج ہو گا۔

□

ہم نے مثال ۹.۴۹ میں تسلسل کو ارتکاز یا انفراج کے لئے پرکھنا دیکھا۔

شکل ۹.۲۵: وقفہ ارتکاز برائے مثال ۹.۴۹

طاقتی تسلسل کا پرکھ برائے ارتکاز

قدم ا: تناسبی پرکھ (یا n واں جذر پرکھ) استعمال کرتے ہوئے وہ وقفہ تلاش کریں جس پر تسلسل مطلق مرتکز ہو۔ عموماً یہ وقفہ کھلا وقفہ ہوگا:

$$a - R < x < a + R \quad \text{یعنی} \quad |x - a| < R$$

قدم ب: اگر مطلق ارتکاز کا وقفہ متناہی ہو تب ہر آخری نقطہ پر ارتکاز یا انفراج کے لئے تسلسل کو پرکھیں (جیسا مثال ۹.۴۹-اا اور ب میں کیا گیا)۔ آپ تقابلی پرکھ، تکملی پرکھ یا بدلتا تسلسل پرکھ استعمال کر سکتے ہیں۔

قدم ج: اگر مطلق ارتکاز کا وقفہ $a - R < x < a + R$ ہو تب $|x - a| > R$ کے لئے تسلسل منفرج ہوگا (تسلسل یہاں مشروط مرتکز بھی نہیں ہوگا) چونکہ x کی ان قیمتوں کے لئے n واں جزو صفر تک نہیں پہنچتا ہے۔

□

مسئلہ ۹.۱۲: طاقتی تسلسل کا مسئلہ ارتکاز

اگر $x = c \neq 0$ کے لئے تسلسل $\sum_{n=0}^{\infty} a_n x^n = a_0 + a_1 x + a_2 x^2 + \cdots$ مرتکز ہو تب $|x| < |c|$ کے لئے یہ مطلق مرتکز ہوگا۔ اگر $x = d$ کے لئے تسلسل منفرج ہو تب $|x| > |d|$ کے لئے یہ منفرج ہوگا۔

ثبوت: فرض کریں تسلسل $\sum_{n=0}^{\infty} a_n c^n$ مرتکز ہے۔ تب $\lim_{n\to\infty} a_n c^n = 0$ ہوگا۔ یوں ایسا عدد N پایا جائے گا کہ تمام $n \geq N$ کے لئے $|a_n c^n| < 1$ ہوگا، یعنی:

$$|a_n| < \frac{1}{|c^n|} \qquad n \geq N \tag{۵}$$

اب ایسا x لیں کہ $|x| < |c|$ ہو اور درج ذیل پر غور کریں۔

$$|a_0| + |a_1 x| + \left|a_{N-1}\, x^{N-1}\right| + \left|a_N\, x^N\right| + \left|a_{N+1}\, x^{N+1}\right| + \cdots$$

جزو $\left|a_N\, x^N\right|$ سے قبل متناہی تعداد کے اجزاء پائے جاتے ہیں اور ان کا مجموعہ متناہی ہے۔ مساوات ۵ کی وجہ سے جزو $\left|a_N\, x^N\right|$ اور اس کے بعد تمام اجزاء درج ذیل سے کم ہوں گے۔

$$\left|\frac{x}{c}\right|^N + \left|\frac{x}{c}\right|^{N+1} + \left|\frac{x}{c}\right|^{N+2} + \cdots \tag{۶}$$

اب مساوات ۶ ہندسی تسلسل ہے جس کا نسبت $r = \left|\frac{x}{c}\right|$ ہے جو $|x| < |c|$ کی وجہ سے 1 سے کم ہے۔ یوں مساوات ۶ کا تسلسل مرتکز ہے لہٰذا اصل تسلسل مطلق مرتکز ہو گا۔ یوں مسئلے کا پہلا حصہ ثابت ہوتا ہے۔

مسئلے کا دوسرا حصہ مسئلے کے پہلے حصہ سے حاصل ہوتا ہے۔ اگر $x = d$ کے لئے تسلسل منفرج اور x_0 پر تسلسل مرتکز ہو جہاں $|x_0| > |d|$ ہے تب ہم مسئلے کے پہلے حصے میں $c = x_0$ لے کر فیصلہ کر سکتے ہیں کہ d پر تسلسل مطلق مرتکز ہو گا، لیکن ایک ہی وقت میں تسلسل مرتکز اور منفرج دونوں نہیں ہو سکتا ہے۔ یوں اگر تسلسل d پر منفرج ہو تب تمام $|x| > |d|$ کے لئے یہ منفرج ہو گا۔

□

علامتیت سادہ رکھنے کی خاطر مسئلہ ۹.۱۲ میں تسلسل $\sum a_n x^n$ کے ارتکاز کی بات کی گئی۔ تسلسل $\sum a_n (x-a)^n$ کے ارتکاز کی بات کرتے ہوئے ہم $x - a$ کی جگہ x' پر کر کے نتیجہ کو تسلسل $\sum a_n (x')^n$ پر لاگو کر سکتے ہیں۔

ارتکاز کا رداس اور وقفہ

اب تک دیکھے گئے مثالوں اور مذکورہ بالا مسئلے کو دیکھ کر ہم کہہ سکتے ہیں کہ طاقتی تسلسل کا رویہ درج ذیل میں سے ایک ہو گا۔

تسلسل $\sum c_n (x-a)^n$ کے ممکنہ رویے

ا. ایک ایسا مثبت عدد R پایا جاتا ہے کہ $|x-a| > R$ کے لئے تسلسل منفرج جبکہ $|x-a| < R$ کے لئے مطلق مرتکز ہے۔ ہر ایک آخری نقطہ $x = a - R$ اور $x = a + R$ پر تسلسل مرتکز یا منفرج ہو سکتا ہے۔

ب. ہر x پر تسلسل مطلق مرتکز ہے ($R = \infty$)۔

ج. تسلسل $x = a$ کے لئے مرتکز جبکہ باقی تمام x کے لئے منفرج ہے ($R = 0$)۔

پہلی صورت میں ارتکاز کے نقطوں کا سلسلہ متناہی وقفہ ہے جس کو **وقفہ ارتکاز**[۳۹] کہتے ہیں۔ ہم مذکورہ بالا مثالوں سے جانتے ہیں کہ وقفہ ارتکاز کھلا، نصف کھلا، یا بند ہو سکتا ہے اور یہ دیے گئے تسلسل پر منحصر ہو گا۔ وقفہ ارتکاز جس قسم کا بھی ہو، R کو تسلسل کا **رداس ارتکاز**[۴۰] کہیں گے اور تسلسل کے ان نقطوں کا سلسلہ، جن کے لئے تسلسل مرتکز ہو، کا کم سے کم بالائی حد بندی $a + R$ ہو گا۔ اس وقفہ کی اندرونی ہر نقطہ پر ارتکاز مطلق ہو گا۔ اگر x کی تمام مثبت قیمتوں کے لئے ایک تسلسل مطلق مرتکز ہو تب ہم کہتے ہیں اس تسلسل کا **رداس ارتکاز لامتناہی** ہے۔ اگر یہ صرف $x = a$ کے لئے مرتکز ہو تب اس کا **رداس ارتکاز صفر** ہو گا۔

جزو در جزو تفرق

اعلیٰ احصاء کا ایک مسئلہ کہتا ہے کہ وقفہ ارتکاز کے اندر ہر نقطہ پر طاقتی تسلسل کا جزو در جزو تفرق لیا جا سکتا ہے۔

مسئلہ ۹.۱۳: **مسئلہ جزو در جزو تفرق**

---

[۳۹] intervalofconvergence
[۴۰] radiusofconvergence

۱۳۹۶۷ وقفہ $a - R < x < a + R$ پر مرتکز تسلسل $\sum c_n(x-a)^n$ درج ذیل تفاعل f دیتا کرتا ہے، جہاں $R > 0$ ہے۔

$$f(x) = \sum_{n=0}^{\infty} c_n(x-a)^n \qquad a - R < x < a + R$$

۱۳۹۶۸ وقفہ ارتکاز کے اندر ایسے تفاعل کا ہر رتبے کا تفرق پایا جاتا ہے۔ ان تفرق کو حاصل کرنے کے لئے ہم اصل تسلسل کا جزو در جزو تفرق

$$\begin{aligned} f'(x) &= \sum_{n=1}^{\infty} nc_n(x-a)^{n-1} \\ f''(x) &= \sum_{n=2}^{\infty} n(n-1)c_n x^{n-2} \end{aligned}$$

۱۳۹۶۹ لیتے ہیں، وغیرہ وغیرہ۔ اصل تسلسل کے وقفہ ارتکاز کے ہر اندرونی نقطہ کے لئے یہ تفرقی تسلسل مرتکز ہوں گے۔

۱۳۹۷۰

۱۳۹۷۱ انتباہ: ضروری نہیں کہ جزو در جزو تفرق دیگر تسلسل کے لئے بھی قابل استعمال ہو۔ مثال کے طور پر تکونیاتی تسلسل $\sum_{n=1}^{\infty} \frac{\sin(n!x)}{n^2}$ تمام x کے لئے
۱۳۹۷۲ مرتکز ہے۔ البتہ اس کا جزو در جزو تفرق $\sum_{n=1}^{\infty} \frac{n!\cos(n!x)}{n^2}$ ہے جو تمام x کے لئے منفرج ہے۔

۱۳۹۷۳ مثال ۹.۵۰: درج ذیل تفاعل $f(x)$ کے تفرق $f'(x)$ اور $f''(x)$ حاصل کریں۔

$$\begin{aligned} f(x) &= \frac{1}{1-x} = 1 + x + x^2 + x^3 + x^4 + \cdots + x^n + \cdots \\ &= \sum_{n=0}^{\infty} x^n \qquad -1 < x < 1 \end{aligned}$$

۱۳۹۷۴ حل:

$$\begin{aligned} f'(x) &= \frac{1}{(1-x)^2} = 1 + 2x + 3x^2 + 4x^3 + \cdots + nx^{n-1} + \cdots \\ &= \sum_{n=1}^{\infty} nx^{n-1} \qquad -1 < x < 1 \\ f''(x) &= \frac{2}{(1-x)^3} = 2 + 6x + 12x^2 + \cdots + n(n-1)x^{n-2} + \cdots \\ &= \sum_{n=2}^{\infty} n(n-1)x^{n-2} \qquad -1 < x < 1 \end{aligned}$$

۱۳۹۷۵ □

۱۳۹۷۶ **جزو در جزو تکمل**

۱۳۹۷۷ اعلیٰ احصاء کا دوسرا مسئلہ کہتا ہے کہ پورے وقفہ ارتکاز کے اندر طاقتی تسلسل کا جزو در جزو تکمل لیا جا سکتا ہے۔

۱۳۹۷۸ مسئلہ ۹.۱۴: **مسئلہ جزو در جزو تکمل**

۱۳۹۷۹ فرض کریں $a - R < x < a + R \ (R > 0)$ میں

$$f(x) = \sum_{n=0}^{\infty} c_n (x-a)^n$$

۱۳۹۸۰ مرتکز ہو تب $a - R < x < a + R$ میں

$$\sum_{n=0}^{\infty} \frac{c_n (x-a)^{n+1}}{n+1}$$

۱۳۹۸۱ مرتکز ہو گا اور $a - R < x < a + R$ میں درج ذیل ہو گا۔

$$\int f(x)\,\mathrm{d}x = \sum_{n=0}^{\infty} c_n \frac{(x-a)^{n+1}}{n+1} + C$$

۱۳۹۸۲

۱۳۹۸۳ مثال ۹.۵۱: وقفہ $-1 \leq x \leq 1$ میں $\tan^{-1} x$ کا تسلسل

۱۳۹۸۴ درج ذیل تفاعل پہچانیں۔

$$f(x) = x - \frac{x^3}{3} + \frac{x^5}{5} - \cdots \qquad -1 \leq x \leq 1$$

۱۳۹۸۵ حل: ہم اصل تسلسل کا جزو در جزو تفرق لیتے ہیں۔

$$f'(x) = 1 - x^2 + x^4 - x^6 + \cdots \qquad -1 \leq x \leq 1$$

۱۳۹۸۶ یہ ہندسی تسلسل ہے جس کا پہلا جزو 1 اور نسبت $-x^2$ ہے لہٰذا

$$f'(x) = \frac{1}{1-(-x^2)} = \frac{1}{1+x^2}$$

۱۳۹۸۷ ہو گا۔ ہم اب $f'(x) = \frac{1}{1+x^2}$ کا تکمل لیتے ہیں۔

$$\int f'(x)\,\mathrm{d}x = \int \frac{\mathrm{d}x}{1+x^2} = \tan^{-1} x + C$$

۱۳۹۸۸ چونکہ $x = 0$ پر $f(x)$ کا تسلسل صفر ہے لہٰذا $C = 0$ ہوگا۔ یوں درج ذیل ہوگا۔

$$f(x) = x - \frac{x^3}{3} + \frac{x^5}{5} - \frac{x^7}{7} + \cdots = \tan^{-1} x \qquad -1 < x < 1 \tag{۷}$$

۱۳۹۸۹ ہم حصہ ۹.۱۲ میں دیکھیں گے کہ یہ تسلسل $x = \pm 1$ پر بھی $\tan^{-1} x$ کو مرکوز ہے۔

۱۳۹۹۰ دھیان رہے کہ اس مثال میں ابتدائی (اصل) تسلسل دیے گئے وقفہ کے دونوں آخری سروں پر بھی مرتکز ہے لیکن مسئلہ ۹.۱۳ صرف اس وقفہ کے اندر تسلسل
۱۳۹۹۱ کی ارتکاز کی یقین دہانی کرتا ہے۔ □

۱۳۹۹۲ ہم دیکھیں گے کہ $x = \mp 1$ کے لئے بھی یہ تسلسل $\tan^{-1} x$ پر مرکوز ہے۔

۱۳۹۹۳ ہم دیکھتے ہیں کہ مثال ۹.۵۱ میں اصل تسلسل کے وقفہ ارتکاز کے دونوں آخری نقطوں کے لئے اصل تسلسل مرتکز ہے، البتہ مسئلہ ۹.۱۳ صرف اصل تسلسل کے
۱۳۹۹۴ وقفہ ارتکاز کے اندرون میں تفرقی تسلسل کے ارتکاز کی ضمانت دیتا ہے۔

۱۳۹۹۵ مثال ۹.۵۲: **وقفہ $-1 < x < 1$ کے لئے $\ln(1+x)$ کا تسلسل**
۱۳۹۹۶ کھلا وقفہ $-1 < t < 1$ کے لئے تسلسل

$$\frac{1}{1+t} = 1 - t + t^2 - t^3 + \cdots$$

۱۳۹۹۷ مرکوز ہے۔ یوں درج ذیل ہوگا۔

$$\begin{aligned}\ln(1+x) &= \int_0^x \frac{1}{1+t}\,\mathrm{d}t = t - \frac{t^2}{2} + \frac{t^3}{3} - \frac{t^4}{4} + \cdots \Big]_0^x \\ &= x - \frac{x^2}{2} + \frac{x^3}{3} - \frac{x^4}{4} + \cdots \qquad -1 < x < 1\end{aligned}$$

۱۳۹۹۸ □

۱۳۹۹۹ یہ دکھایا جا سکتا ہے کہ $x = 1$ پر تسلسل عدد $\ln 2$ کو مرکوز ہے مگر مسئلہ اس کی ضمانت نہیں دیتا ہے۔

۱۵۰۰۰ **فنیات** مطالعہ تسلسل

۱۵۰۰۱ تسلسل کئی طریقوں سے تکمل کی طرح ہوتے ہیں۔ جیسے بنیادی تفاعل کی صورت میں صریح الٹ تفرق رکھنے والے تفاعل کی تعداد قابل تکمل تفاعل کی تعداد
۱۵۰۰۲ سے بہت کم ہے، x کی صورت میں طاقتی تسلسل جو صریحاً بنیادی تفاعل کے ساتھ x وقفہ پر اتفاق کرتے ہوں کی تعداد ان طاقتی تسلسل کی تعداد سے بہت کم
۱۵۰۰۳ ہے جو کسی x وقفہ پر منفرج ہوں۔ جیسے مطلق تکمل کے مطالعہ میں اعدادی تکمل مددگار ثابت ہوتا ہے، اسی طرح مطالعہ تسلسل میں کمپیوٹر ترسیمات کارآمد
۱۵۰۰۴ ثابت ہوتے ہیں۔ عموماً کمپیوٹر الجبرائی نظام میں x کی مخصوص قیمتوں پر طاقتی تسلسل کا مطالعہ کرنا ممکن ہوتا ہے۔

تیز مرتکز تسلسل کے مجموعہ کا اندازہ ہمیں کمپیوٹر دے سکتا ہے۔ مثال کے طور پر $31 \leq n \leq 200$ لے لئے ہم تسلسل $\sum_{n=1}^{\infty} \frac{1}{2^n-1}$ [مثال ۹.۳۳-ب] کے ابتدائی جزوی مجموعات آکٹیو[۴۱] سے $S_n = 1.606\,695\,152$ حاصل کرتے ہیں۔ یوں ہم کہہ سکتے ہیں کہ 10 ہندسوں تک اس تسلسل کا مجموعہ $1.606\,695\,152$ ہوگا۔ یقیناً

$$\sum_{n=201}^{\infty} \frac{1}{2^n-1} = \sum_{n=201}^{\infty} \frac{1}{2^{n-1}(2-\frac{1}{2^{n-1}})} < \sum_{n=201}^{\infty} \frac{1}{2^{n-1}} = \frac{1}{2^{199}} < 1.25 \times 10^{-60}$$

کے تحت 200 اجزاء کے بعد باقی قابل نظر انداز ہے۔

البتہ نہایت آہستہ مرتکز یا منفرج تسلسل کی صورت میں کمپیوٹر مددگار ثابت نہیں ہوتا ہے بلکہ اس کے نتائج بالکل غلط ہو سکتے ہیں۔ مثال کے طور پر تسلسل $\sum_{n=1}^{\infty} \frac{1}{10^{10}n}$ کے جزوی مجموعات کا حساب کرنے کی کوشش کریں۔ یہاں اجزاء نہایت چھوٹے ہیں اور سیکڑوں اجزاء کا مجموعہ بھی نہایت چھوٹا ہے جس سے ہمیں غلط فہمی ہو سکتی ہے کہ یہ تسلسل مرتکز ہے۔ اس تسلسل کو $\frac{1}{10^{10}} \sum_{n=1}^{\infty} \frac{1}{n}$ لکھ کر صاف ظاہر ہے کہ یہ منفرج ہے۔

ہم حصہ ۹.۱۱ میں **اندازہ غلطی**[۴۲] کا مطالعہ کرنے کے بعد اعدادی نتائج کی بہتر تشریح کرنے کے قابل ہوں گے۔

طاقتی تسلسل کا ضرب

ایک اعلیٰ مسئلہ کہتا ہے کہ مطلق مرتکز تسلسل کو کثیر رکنی کی طرح آپس میں ضرب دیا جا سکتا ہے۔

مسئلہ ۹.۱۵: طاقتی تسلسل کے ضرب کا مسئلہ

اگر $A(x) = \sum_{n=0}^{\infty} a_n x^n$ اور $B(x) = \sum_{n=0}^{\infty} b_n x^n$ وقفہ $|x| < R$ پر مطلق مرتکز ہوں اور

$$c_n = a_0 b_n + a_1 b_{n-1} + a_2 b_{n-2} + \cdots + a_{n-1} b_1 + a_n b_0 = \sum_{k=0}^{n} a_k b_{n-k}$$

ہو تب $\sum_{n=0}^{\infty} c_n x^n$ وقفہ $|x| < R$ پر $A(x)B(x)$ کو مطلق مرتکز ہوگا۔

$$\Big(\sum_{n=0}^{\infty} a_n x^n\Big) \cdot \Big(\sum_{n=0}^{\infty} b_n x^n\Big) = \sum_{n=0}^{\infty} c_n x^n$$

مثال ۹.۵۳: درج ذیل ہندسی تسلسل

$$\sum_{n=0}^{\infty} x^n = 1 + x + x^2 + \cdots + x^n + \cdots = \frac{1}{1-x}, \qquad |x| < 1$$

کو اپنے ساتھ ضرب کرتے ہوئے وقفہ $|x| < 1$ پر $\frac{1}{(1-x)^2}$ کا طاقتی تسلسل حاصل کریں۔

---

[۴۱] کمپیوٹر کا الجبرائی پروگرام

[۴۲] errorestimation

۱۵۰۲۱ حل: فرض کریں

$$A(x) = \sum_{n=0}^{\infty} a_n x^n = 1 + x + x^2 + \cdots + x^n + \cdots = \frac{1}{1-x}$$
$$B(x) = \sum_{n=0}^{\infty} b_n x^n = 1 + x + x^2 + \cdots + x^n + \cdots = \frac{1}{1-x}$$

۱۵۰۲۲ اور

$$\begin{aligned} c_n &= \underbrace{a_0 b_n + a_1 b_{n-1} + \cdots + a_k b_{n-k} + \cdots + a_n b_0}_{n+1 \text{ اجزاء}} \\ &= \underbrace{1 + 1 + \cdots + 1}_{n+1 \text{ ایک}} = n + 1 \end{aligned}$$

۱۵۰۲۳ اب مسئلہ ۹.۱۵ کے تحت $\frac{1}{(1-x)^2}$ کا تسلسل

$$\begin{aligned} A(x) \cdot B(x) &= \sum_{n=0}^{\infty} c_n x^n = \sum_{n=0}^{\infty} (n+1) x^n \\ &= 1 + 2x + 3x^2 + 4x^3 + \cdots + (n+1)x^n + \cdots \end{aligned}$$

۱۵۰۲۴ ہو گا جو $|x| < 1$ کے لئے مطلق مرتکز ہو گا۔

۱۵۰۲۵ درج ذیل کی وجہ سے مثال ۹.۵۰ بھی یہی نتیجہ دیتا ہے۔

$$\frac{\mathrm{d}}{\mathrm{d}x}\left(\frac{1}{1-x}\right) = \frac{1}{(1-x)^2}$$

۱۵۰۲۶ □

۱۵۰۲۷ **سوالات**

۱۵۰۲۸ **ارتکاز کے وقفے**

۱۵۰۲۹ سوال ۹.۴۲۴ تا سوال ۹.۴۵۵ میں (الف) تسلسل کا رداس اور وقفہ ارتکاز تلاش کریں۔ x کی کن قیمتوں کے لئے تسلسل (ب) مطلق مرتکز (ج) مشروط
۱۵۰۳۰ مرتکز ہے؟

۱۵۰۳۱ سوال ۹.۴۲۴: $\sum_{n=0}^{\infty} x^n$

۱۵۰۳۲ سوال ۹.۴۲۵: $\sum_{n=0}^{\infty} (x+5)^n$

۱۵۰۳۳ سوال ۹.۴۲۶: $\sum_{n=0}^{\infty} (-1)^n (4x+1)^n$

۱۵۰۳۴ سوال ۹.۴۲۷: $\sum_{n=1}^{\infty} \frac{(3x-2)^n}{n}$

۱۵۰۳۵ سوال ۹.۴۲۸: $\sum_{n=0}^{\infty} \frac{(x-2)^n}{10^n}$

۱۵۰۳۶ سوال ۹.۴۲۹: $\sum_{n=0}^{\infty} (2x)^n$

۱۵۰۳۷ سوال ۹.۴۳۰: $\sum_{n=0}^{\infty} \frac{nx^n}{n+2}$

۱۵۰۳۸ سوال ۹.۴۳۱: $\sum_{n=1}^{\infty} \frac{(-1)^n (x+2)^n}{n}$

۱۵۰۳۹ سوال ۹.۴۳۲: $\sum_{n=1}^{\infty} \frac{x^n}{n\sqrt{n}3^n}$

۱۵۰۴۰ سوال ۹.۴۳۳: $\sum_{n=1}^{\infty} \frac{(x-1)^n}{\sqrt{n}}$

۱۵۰۴۱ سوال ۹.۴۳۴: $\sum_{n=0}^{\infty} \frac{(-1)^n x^n}{n!}$

۱۵۰۴۲ سوال ۹.۴۳۵: $\sum_{n=0}^{\infty} \frac{3^n x^n}{n!}$

۱۵۰۴۳ سوال ۹.۴۳۶: $\sum_{n=0}^{\infty} \frac{x^{2n+1}}{n!}$

۱۵۰۴۴ سوال ۹.۴۳۷: $\sum_{n=0}^{\infty} \frac{(2x+3)^{2n+1}}{n!}$

۱۵۰۴۵ سوال ۹.۴۳۸: $\sum_{n=0}^{\infty} \frac{x^n}{\sqrt{n^2+3}}$

۱۵۰۴۶ سوال ۹.۴۳۹: $\sum_{n=0}^{\infty} \frac{(-1)^n x^n}{\sqrt{n^2+3}}$

۱۵۰۴۷ سوال ۹.۴۴۰: $\sum_{n=0}^{\infty} \frac{n(x+3)^n}{5^n}$

۱۵۰۴۸ سوال ۹.۴۴۱: $\sum_{n=0}^{\infty} \frac{nx^n}{4^n(n^2+1)}$

۱۵۰۴۹ سوال ۹.۴۴۲: $\sum_{n=0}^{\infty} \frac{\sqrt{n}x^n}{3^n}$

۱۵۰۵۰ سوال ۹.۴۴۳: $\sum_{n=1}^{\infty} \sqrt[n]{n}(2x+5)^n$

۱۵۰۵۱ سوال ۹.۴۴۴: $\sum_{n=1}^{\infty} \left(1+\frac{1}{n}\right)^n x^n$

۱۵۰۵۲ سوال ۹.۴۴۵: $\sum_{n=1}^{\infty} (\ln x)x^n$

۱۵۰۵۳ سوال ۹.۴۴۶: $\sum_{n=1}^{\infty} n^n x^n$

۱۵۰۵۴ سوال ۹.۴۴۷: $\sum_{n=0}^{\infty} n!(x-4)^n$

۱۵۰۵۵ سوال ۹.۴۴۸: $\sum_{n=1}^{\infty} \frac{(-1)^{n+1}(x+2)^n}{n2^n}$

۱۵۰۵۶ سوال ۹.۴۴۹: $\sum_{n=0}^{\infty} (-2)^n(n+1)(x-1)^n$

۱۵۰۵۷ سوال ۹.۴۵۰: $\sum_{n=2}^{\infty} \frac{x^n}{n(\ln n)^2}$ آپ سوال ۹.۲۶۹ کی مدد لے سکتے ہیں۔

۱۵۰۵۸ سوال ۹.۴۵۱: $\sum_{n=2}^{\infty} \frac{x^n}{n\ln n}$ آپ سوال ۹.۲۶۸ کی مدد لے سکتے ہیں۔

۱۵۰۵۹ سوال ۹.۴۵۲: $\sum_{n=1}^{\infty} \frac{(4x-5)^{2n+1}}{n^{3/2}}$

۱۵۰۶۰ سوال ۹.۴۵۳: $\sum_{n=1}^{\infty} \frac{(3x+1)^{n+1}}{2n+2}$

۱۵۰۶۱ سوال ۹.۴۵۴: $\sum_{n=1}^{\infty} \frac{(x+\pi)^n}{\sqrt{n}}$

۱۵۰۶۲ سوال ۹.۴۵۵: $\sum_{n=0}^{\infty} \frac{(x-\sqrt{2})^{2n+1}}{2^n}$

۱۵۰۶۳ سوال ۹.۴۵۶ تا سوال ۹.۴۶۱ میں تسلسل کی ارتکاز کا وقفہ تلاش کریں اور اس وقفہ میں تسلسل کے مجموعہ کو x کا تفاعل لکھیں۔

۱۵۰۶۴ سوال ۹.۴۵۶: $\sum_{n=0}^{\infty} \frac{(x-1)^{2n}}{4^n}$

۱۵۰۶۵ سوال ۹.۴۵۷: $\sum_{n=0}^{\infty} \frac{(x+1)^{2n}}{9^n}$

۱۵۰۶۶ سوال ۹.۴۵۸: $\sum_{n=0}^{\infty} \left(\frac{\sqrt{x}}{2} - 1\right)^n$

۱۵۰۶۷ سوال ۹.۴۵۹: $\sum_{n=0}^{\infty} (\ln x)^n$

۱۵۰۶۸ سوال ۹.۴۶۰: $\sum_{n=0}^{\infty} \left(\frac{x^2+1}{3}\right)^n$

۱۵۰۶۹ سوال ۹.۴۶۱: $\sum_{n=0}^{\infty} \left(\frac{x^2-1}{2}\right)^n$

۱۵۰۷۰ **نظریہ اور مثالیں**

۱۵۰۷۱ سوال ۹.۴۶۲: درج ذیل تسلسل x کی کن قیمتوں کے لئے مرتکز ہے؟

$$1 - \frac{1}{2}(x-3) + \frac{1}{4}(x-3)^2 + \cdots + (-\frac{1}{2})^n (x-3)^n + \cdots$$

۱۵۰۷۲ اس کا مجموعہ کتنا ہے؟ اس تسلسل کا جزو در جزو تفرق لینے سے کونسا تسلسل حاصل ہوتا ہے؟ یہ نیا تسلسل x کی کن قیمتوں کے لئے مرتکز ہو گا؟ اس کا مجموعہ کیا
۱۵۰۷۳ ہے؟

۱۵۰۷۴ سوال ۹.۴۶۳: اگر آپ سوال ۹.۴۶۲ کا تسلسل جزو در جزو تکمل کریں تب کونسا تسلسل حاصل ہو گا؟ x کی کن قیمتوں کے لئے یہ نیا تسلسل مرتکز ہو گا؟
۱۵۰۷۵ اس مجموعے کا دوسرا نام کیا ہے؟

۱۵۰۷۶ سوال ۹.۴۶۴: درج ذیل تسلسل تمام x کے لئے $\sin x$ پر مرکوز ہے۔

$$\sin x = x - \frac{x^3}{3!} + \frac{x^5}{5!} - \frac{x^7}{7!} + \frac{x^9}{9!} - \frac{x^{11}}{11!} + \cdots$$

۱۵۰۷۷ ا. $\cos x$ کے تسلسل کے ابتدائی چھ اجزاء دریافت کریں۔ x کی کن قیمتوں کے لئے حاصل تسلسل مرتکز ہو گا۔

۱۵۰۷۸ ب. $\sin x$ کے تسلسل میں x کی جگہ $2x$ پر کرنے ایسا تسلسل حاصل کریں جو تمام x کے لئے $\sin 2x$ پر مرتکز ہو۔

۱۵۰۷۹ ج. ضرب تسلسل اور جزو-الف کا نتیجہ استعمال کرتے ہوئے $2 \sin x \cos x$ کے تسلسل کے ابتدائی چھ اجزاء حاصل کریں۔ جزو-ب کے نتیجہ کے
۱۵۰۸۰ ساتھ موازنہ کریں۔

۱۵۰۸۱ سوال ۹.۴۶۵: درج ذیل تسلسل تمام x کے لئے e^x پر مرکوز ہے۔

$$e^x = 1 + x + \frac{x^2}{2!} + \frac{x^3}{3!} + \frac{x^4}{4!} + \frac{x^5}{5!} + \cdots$$

۱۵۰۸۲ ا. $\frac{\mathrm{d}}{\mathrm{d}x} e^x$ کا تسلسل دریافت کریں۔ کیا آپ کو دوبارہ e^x کا تسلسل حاصل ہوتا ہے؟ وجہ پیش کریں۔

ب. $\int e^x \, dx$ کا تسلسل دریافت کریں۔ کیا آپ کو دوبارہ e^x کا تسلسل حاصل ہوتا ہے؟ وجہ پیش کریں۔

ج. e^x کے تسلسل میں x کی جگہ $-x$ پر کر کے e^{-x} کا تسلسل حاصل کریں۔ اب e^x کے تسلسل کو e^{-x} کے تسلسل کے ساتھ ضرب کر کے $e^x \cdot e^{-x}$ کے تسلسل کے ابتدائی چھ اجزاء تلاش کریں۔

سوال ۹.۴۶۶: درج ذیل تسلسل $-\frac{\pi}{2} < x < \frac{\pi}{2}$ کے لئے $\tan x$ پر مرتکز ہے۔

$$\tan x = x + \frac{x^3}{3} + \frac{2x^5}{15} + \frac{17x^7}{315} + \frac{62x^9}{2835} + \cdots$$

ا. $\ln|\sec x|$ کے تسلسل کے ابتدائی پانچ اجزاء تلاش کریں۔ x کی کن قیمتوں کے لئے یہ تسلسل مرتکز ہو گا؟

ب. $\sec^2 x$ کے تسلسل کے ابتدائی پانچ اجزاء تلاش کریں۔ x کی کن قیمتوں کے لئے یہ تسلسل مرتکز ہو گا؟

ج. اگلے سوال میں $\sec x$ کے تسلسل کا مربع تلاش کرتے ہوئے جزو-ب کے نتیجہ کی تصدیق کریں۔

سوال ۹.۴۶۷: درج ذیل تسلسل $-\frac{\pi}{2} < x < \frac{\pi}{2}$ کے لئے $\sec x$ پر مرتکز ہے۔

$$\sec x = 1 + \frac{x^2}{2} + \frac{5}{24}x^4 + \frac{61}{720}x^6 + \frac{277}{8064}x^8 + \cdots$$

ا. $\ln|\sec x + \tan x|$ کے تسلسل کے ابتدائی پانچ اجزاء تلاش کریں۔ x کی کن قیمتوں کے لئے یہ تسلسل مرتکز ہو گا؟

ب. $\sec x \tan x$ کے تسلسل کے ابتدائی چار اجزاء تلاش کریں۔ x کی کن قیمتوں کے لئے یہ تسلسل مرتکز ہو گا؟

ج. گزشتہ سوال میں $\tan x$ کے تسلسل کو $\sec x$ کے تسلسل کے ساتھ ضرب کرتے ہوئے جزو-ب کے نتیجہ کی تصدیق کریں۔

سوال ۹.۴۶۸: مرتکز طاقتی تسلسل کی یکتائی

ا. دکھائیں کہ کھلے وقفہ $(-c, c)$ میں تمام x کے لئے مرتکز اور ایک دوسرے کے برابر تسلسل $\sum_{n=0}^{\infty} a_n x^n$ اور $\sum_{n=0}^{\infty} b_n x^n$ کی صورت میں تمام n کے لئے $a_n = b_n$ ہو گا۔ (اشارہ: فرض کریں $\sum_{n=0}^{\infty} a_n x^n = \sum_{n=0}^{\infty} b_n x^n$ ہے۔ جزو در جزو تفرق لے کر ثابت کریں کہ a_n اور b_n دونوں $\frac{f^{(n)}(0)}{n!}$ کے برابر ہیں۔)

ب. دکھائیں کہ کھلے وقفہ $(-c, c)$ میں تمام x کے لئے $\sum_{n=0}^{\infty} a_n x^n = 0$ کی صورت میں تمام n کے لئے $a_n = 0$ ہو گا۔

سوال ۹.۴۶۹: تسلسل $\sum_{n=0}^{\infty} \frac{n^2}{2^n}$ کا مجموعہ تلاش کرنے کی خاطر $\frac{1}{1-x}$ کو ہندسی تسلسل کی صورت میں لکھ کر دونوں اطراف کا x کے ساتھ تفرق لیں، دونوں اطراف کو x سے ضرب دے کر دونوں اطراف کا تفرق لیں اور آخر کار دونوں اطراف کو x سے ضرب کریں۔ اب $x = \frac{1}{2}$ پر کریں۔ کیا حاصل ہوتا ہے؟

سوال ۹.۴۷۰: آخری نقطوں پر ارتکاز

ایک مثال سے دکھائیں کہ ایک طاقتی تسلسل کے وقفہ ارتکاز کے آخری سروں پر اس تسلسل کا ارتکاز مشروط یا مطلق ہو سکتا ہے۔

سوال ۹.۴۷۱: ایسے طاقتی تسلسل بنائیں جن کے وقفہ ارتکاز درج ذیل ہوں۔

۱۵۱۰۵ ا. $(-3,3)$ ۱۵۱۰۶ ب. $(-2,0)$ ۱۵۱۰۷ ج. $(1,5)$

۱۵۱۰۸

۱۵۱۰۹

۱۵۱۱۰ ۹.۱۰ ٹیلر اور مکلارن تسلسل

۱۵۱۱۱ اس حصہ میں دکھایا جائے گا کہ وہ تفاعل جو لامتناہی گنّا قابل تفرق ہوں طاقتی تسلسل پیدا کرتے ہیں جنہیں ٹیلر تسلسل کہتے ہیں۔ عموماً ایسے تسلسل، پیدا کار تفاعل
۱۵۱۱۲ کے کارآمد تخمینی کثیر رکنیاں پیش کرتے ہیں۔

۱۵۱۱۳ تسلسلی اظہار

۱۵۱۱۴ ہم جانتے ہیں کہ اپنے وقفہ ارتکاز کے اندر طاقتی تسلسل کا مجموعہ استمراری تفاعل ہوتا ہے جس کے تفرقات ہر درجے کے پائے جاتے ہیں۔ لیکن کیا ہم یہی کچھ
۱۵۱۱۵ دوسری رخ بھی کہہ سکتے ہیں؟ یعنی کیا ایسا تفاعل $f(x)$ جس کے وقفہ I ہر رتبہ کے تفرقات پائے جاتے ہوں کو I میں طاقتی تسلسل سے ظاہر کرنا ممکن
۱۵۱۱۶ ہو گا؟ اگر ایسا ممکن ہو، تب اس تسلسل کے عددی سر کیا ہوں گے؟

۱۵۱۱۷ ہم $f(x)$ کو مثبت رداس ارتکاز کے طاقت تسلسل کا مجموعہ

$$\begin{aligned} f(x) &= \sum_{n=0}^{\infty} a_n (x-a)^n \\ &= a_0 + a_1(x-a) + a_2(x-a)^2 + \cdots + a_n(x-a)^n + \cdots \end{aligned}$$

۱۵۱۱۸ تصور کر کے اس آخری سوال کا جواب باآسانی دے سکتے ہیں۔ وقفہ I میں بار بار جزو در جزو تفرق لینے سے

$$\begin{aligned} f'(x) &= a_1 + 2a_2(x-a) + 3a_3(x-a)^2 + \cdots + na_n(x-a)^{n-1} + \cdots \\ f''(x) &= 1\cdot 2a_2 + 2\cdot 3a_3(x-a) + 3\cdot 4a_4(x-a)^2 + \cdots \\ f'''(x) &= 1\cdot 2\cdot 3a_3 + 2\cdot 3\cdot 4a_4(x-a) + 3\cdot 4\cdot 5a_5(x-a)^2 + \cdots \end{aligned}$$

۱۵۱۱۹ حاصل ہو گا۔ یوں تمام n کے لئے n گنّا تفرق درج ذیل ہو گا۔

$$f^{(n)}(x) = n!a_n + \text{اجزاء کا مجموعہ جن میں جزو ضربی } (x-a) \text{ پایا جاتا ہے}$$

۱۵۱۲۰ چونکہ یہ تمام مساوات $x = a$ پر کارآمد ہیں لہٰذا

$$\begin{aligned} f'(a) &= a_1 \\ f''(a) &= 1\cdot 2a_2 \\ f'''(a) &= 1\cdot 2\cdot 3a_3 \end{aligned}$$

۱۵۱۲۱ یا عمومی طور پر

$$f^{(n)}(a) = n!a_n$$

۱۵۱۲۲ حاصل ہوتا ہے۔ یہ کلیہ وقفہ I پر f کو مرتکز کسی بھی طاقتی تسلسل $\sum_{n=0}^{\infty} a_n(x-a)^n$ کے عددی سروں کا ایک حیرت کن نقش پیش کرتا ہے۔
۱۵۱۲۳ اگر ایسا تسلسل پایا جاتا ہو (جو ہم اب تک نہیں جانتے کہ پایا جاتا ہے) تب ایسا تسلسل صرف ایک ہو سکتا ہے جس کے n عددی سر درج ذیل ہوں گے۔

$$a_n = \frac{f^{(n)}(a)}{n!}$$

۱۵۱۲۴ اگر f کا تسلسلی روپ پایا جاتا ہو تب یہ تسلسل لازماً درج ذیل ہو گا۔

$$f(x) = f(a) + f'(a)(x-a) + \frac{f''(a)}{2!}(x-a)^2 + \cdots + \frac{f^{(n)}(a)}{n!}(x-a)^n + \cdots \quad (1)$$

۱۵۱۲۵ لیکن کیا وقفہ I، جس کا مرکز $x = a$ ہو، پر لا متناہی گنّا قابل تفرق اختیاری تفاعل f سے شروع کر کے مساوات ا کا تسلسل پیدا کر کے I کے اندرون
۱۵۱۲۶ میں ہر x پر $f(x)$ کو مرکوز تسلسل حاصل ہو گا؟ جیسا ہم دیکھیں گے بعض تفاعل کے لئے ایسا ہو گا اور بعض کے لئے ایسا نہیں ہو گا۔

۱۵۱۲۷ ٹیلر اور مکلارن تسلسل

۱۵۱۲۸ تعریف: فرض کریں کسی وقفہ، جس میں اندرونی نقطہ a پایا جاتا ہو، میں تفاعل f کا ہر درجے کا تفرق پایا جاتا ہے۔ تب نقطہ $x = a$ پر f کا **ٹیلر**
۱۵۱۲۹ **تسلسل**[۴۳] درج ذیل ہو گا۔

$$\sum_{k=0}^{\infty} \frac{f^{(k)}(a)}{k!}(x-a)^k = f(a) + f'(a)(x-a) + \frac{f''(a)}{2!}(x-a)^2 + \cdots + \frac{f^{(n)}(a)}{n!}(x-a)^n + \cdots$$

۱۵۱۳۰ نقطہ $x = 0$ پر f کے پیدا کردہ (درج ذیل) ٹیلر تسلسل کو **مکلارن تسلسل**[۴۴] کہتے ہیں۔

$$\sum_{k=0}^{\infty} \frac{f^{(k)}(0)}{k!}x^k = f(0) + f'(0)x + \frac{f''(0)}{2!}x^2 + \cdots + \frac{f^{(n)}(0)}{n!}x^n + \cdots$$

۱۵۱۳۱ □

۱۵۱۳۲ مثال ۹.۵۴: نقطہ $a = 2$ پر $f(x) = \frac{1}{x}$ کا پیدا کردہ ٹیلر تسلسل حاصل کریں۔ یہ تسلسل $\frac{1}{x}$ پر کہاں مرتکز ہو گا۔

---

[۴۳] Taylorseries
[۴۴] Maclaurinseries

۱۵۱۳۳ حل: ہمیں $f(2)$ ، $f'(2)$ ، $f''(2)$ ، ۔ ۔ ۔ درکار ہیں۔ تفرق لیتے ہوئے درج ذیل حاصل ہو گا۔

$$\begin{aligned}
f(x) &= x^{-1}, & f(2) &= 2^{-1} = \frac{1}{2}\\
f'(x) &= -x^{-2}, & f'(2) &= -\frac{1}{2^2}\\
f''(x) &= 2!x^{-3}, & \frac{f''(2)}{2!} &= \frac{1}{2^3}\\
f'''(x) &= -3!x^{-4}, & \frac{f'''(2)}{3!} &= -\frac{1}{2^4}\\
&\vdots\\
f^{(n)}(x) &= (-1)^n n! x^{-(n+1)}, & \frac{f^{(n)}(2)}{n!} &= \frac{(-1)^n}{2^{n+1}}
\end{aligned}$$

۱۵۱۳۴ یوں ٹیلر تسلسل

$$\begin{aligned}
f(2) + f'(2)(x-2) + \frac{f''(2)}{2!}(x-2)^2 + \cdots + \frac{f^{(n)}(2)}{n!}(x-2)^n + \cdots\\
= \frac{1}{2} - \frac{(x-2)}{2^2} + \frac{(x-2)^2}{2^3} - \cdots + (-1)^n \frac{(x-2)^n}{2^{n+1}} + \cdots
\end{aligned}$$

۱۵۱۳۵ ہو گا جو ایک ہندسی تسلسل ہے جس کا پہلا رکن $\frac{1}{2}$ اور نسبت $r = -\frac{(x-2)}{2}$ ہے۔ یہ وقفہ $|x-2| < 2$ میں مطلق مرتکز ہے اور اس کا مجموعہ

$$\frac{1/2}{1+(x-2)/2} = \frac{1}{2+(x-2)} = \frac{1}{x}$$

۱۵۱۳۶ ہے۔ اس مثال میں نقطہ $a = 2$ پر $f(x) = \frac{1}{x}$ کا پیدا کردہ ٹیلر تسلسل وقفہ $|x-2| < 2$ یا $0 < x < 4$ میں $\frac{1}{x}$ پر مرتکز ہے $\square$

۱۵۱۳۷ ## ٹیلر کثیر رکنیاں

۱۵۱۳۸ نقطہ a پر قابل تفرق تفاعل f کی خط بندی درج ذیل کثیر رکنی ہے۔

$$P_1(x) = f(a) + f'(a)(x-a)$$

۱۵۱۳۹ اگر a پر f کے بلند رتبی تفرقات پائے جاتے ہوں تب ہر پائے جانے والے تفرق کے لئے اس کی بلند رتبی تخمینی کثیر رکنی بھی پائی جائے گی۔ ان
۱۵۱۴۰ کثیر رکنیوں کو f کی ٹیلر کثیر رکنیاں کہتے ہیں۔

۱۵۱۴۱ ہم رتبہ n کے بجائے درجہ n ٹیلر کثیر رکنی کی بات کرتے ہیں چونکہ $f^{(n)}(a)$ صفر بھی ہو سکتا ہے۔ مثال کے طور پر نقطہ $x = 0$ پر $\cos x$ کی
۱۵۱۴۲ ابتدائی دو ٹیلر کثیر رکنیاں $P_0(x) = 1$ اور $P_1(x) = 1$ ہیں۔ رتبہ اول کثیر رکنی کا درجہ صفر ہے نا کہ اکائی۔

تعریف: فرض کریں کسی وقفہ، جس کے اندرون میں نقطہ a پایا جاتا ہو، میں تفاعل f کے k رتبی تفرق پائے جاتے ہیں جہاں $k = 1, 2, \cdots, N$ ہے۔ تب 0 سے N تک ہر عدد صحیح کے لئے نقطہ a پر f کا پیدا کردہ n **رتبی ٹیلر تسلسل** درج ذیل کثیر رکنی ہو گا۔

$$P_n(x) = f(a) + f'(a)(x-a) + \frac{f''(a)}{2!}(x-a)^2 + \cdots + \frac{f^{(k)}(a)}{k!}(x-a)^k + \cdots + \frac{f^{(n)}(a)}{n!}(x-a)^n$$

□

جیسا $x = a$ پر f کی خط بندی، a کی پڑوس میں f کی بہترین خطی تخمین مہیا کرتی ہے اسی طرح بلند رتبی ٹیلر کثیر رکنیاں اپنے درجہ کے لحاظ سے بہترین تخمینی کثیر رکنی مہیا کرتے ہیں۔

مثال ۹.۵۵: نقطہ $x = 0$ پر $f(x) = e^x$ کا پیدا کردہ ٹیلر تسلسل اور ٹیلر کثیر رکنی حاصل کریں۔

حل: درج ذیل

$$f(x) = e^x, \quad f'(x) = e^x, \quad \cdots, \quad f^{(n)}(x) = e^x$$

کی وجہ سے

$$f(0) = e^0 = 1, \quad f'(0) = 1, \quad \cdots, \quad f^{(n)}(0) = 1$$

ہوں گے۔ یوں $x = 0$ پر f کا پیدا کردہ ٹیلر تسلسل درج ذیل ہو گا۔

$$\begin{aligned} f(0) + f'(0)x + \frac{f''(0)}{2!} + \cdots + \frac{f^{(n)}(0)}{n!}x^n + \cdots \\ &= 1 + x + \frac{x^2}{2} + \cdots + \frac{x^n}{n!} + \cdots \\ &= \sum_{k=0}^{\infty} \frac{x^k}{k!} \end{aligned}$$

تعریف کی رو سے یہی e^x کا مکلارن تسلسل بھی ہو گا۔ ہم حصہ ۹.۱۱ میں دیکھیں گے کہ ہر x کے لئے یہ تسلسل e^x پر مرتکز ہے۔

نقطہ $x = 0$ پر n رتبی ٹیلر کثیر رکنی درج ذیل ہوں گی

$$P_n(x) = 1 + x + \frac{x^2}{2!} + \cdots + \frac{x^n}{n!}$$

یعنی نقطہ $x = 0$ پر n رتبی ٹیلر کثیر رکنیاں

$$P_1(x) = 1 + x, \quad P_2 = 1 + x + \frac{x^2}{2!}, \quad P_3 = 1 + x + \frac{x^2}{2!} + \frac{x^3}{3!}$$

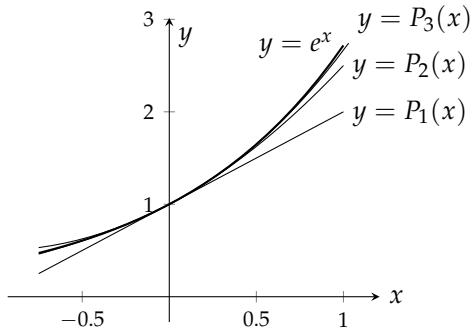

شکل ۹.۲۶: قوت نمائی تفاعل $f(x) = e^x$ کی ٹیلر کثیر رکنیاں (مثال ۹.۵۵)

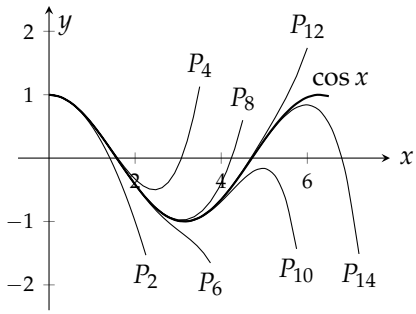

شکل ۹.۲۷: کوسائن اور اس کی ٹیلر کثیر رکنیاں (مثال ۹.۵۶)

۱۵۱۵۵ ہوں گی جو $x = 0$ کی پڑوس میں e^x کے بہت قریب ہے (۹.۲۶)۔ □

۱۵۱۵۶ مثال ۹.۵۶: نقطہ $x = 0$ پر تفاعل $f(x) = \cos x$ کا ٹیلر تسلسل اور ٹیلر کثیر رکنیاں حاصل کریں۔

۱۵۱۵۷ حل: تفاعل اور اس کے تفرقات درج ذیل ہیں۔

$$\begin{aligned}
f(x) &= \cos x & f'(x) &= -\sin x \\
f''(x) &= -\cos x & f^{(3)}(x) &= \sin x \\
&\vdots \\
f^{(2n)}(x) &= (-1)^n \cos x & f^{(2n+1)} &= (-1)^{n+1} \sin x
\end{aligned}$$

۱۵۱۵۸ نقطہ 0 پر کوسائن کی قیمتیں 1 جبکہ سائن کی قیمتیں 0 ہیں لہٰذا

$$f^{(2n)}(0) = (-1)^n, \quad f^{(2n+1)}(0) = 0$$

۱۵۱۵۹ ہوں گے۔ نقطہ 0 پر f کا پیدا کردہ ٹیلر تسلسل درج ذیل ہو گا۔

$$\begin{aligned}
f(0) + f'(0)x + \frac{f''(0)}{2!}x^2 + \frac{f'''(0)}{3!}x^3 + \cdots + \frac{f^{(n)}(0)}{n!}x^n + \cdots \\
&= 1 + 0 \cdot x - \frac{x^2}{2!} + 0 \cdot x^3 + \frac{x^4}{4!} + \cdots + (-1)^n \frac{x^{2n}}{(2n)!} + \cdots \\
&= \sum_{n=0}^{\infty} \frac{(-1)^n x^{2n}}{(2n)!}
\end{aligned}$$

تعریف کی رو سے یہی $\cos x$ کا مکلارن تسلسل بھی ہوگا۔ ہم حصہ ۹.۱۱ میں دیکھیں گے کہ تمام x کے لئے یہ تسلسل $\cos x$ کو مرکوز ہوگا۔

چونکہ $f^{(2n+1)}(0) = 0$ ہے لہٰذا $2n$ اور $2n+1$ رتبی ٹیلر کثیر رکنیاں ایک دوسرے جیسی ہوں گی:

$$P_{2n}(x) = P_{2n+1}(x) = 1 - \frac{x^2}{2!} + \frac{x^4}{4!} - \cdots + (-1)^n \frac{x^{2n}}{(2n)!}$$

آپ شکل ۹.۲۷ میں دیکھ سکتے ہیں کہ $x = 0$ کی پڑوس میں یہ کثیر رکنیاں $\cos x$ کے کتنے قریب ہیں۔ چونکہ y محور کے لحاظ سے ترسیمات تشاکلی ہیں لہٰذا انہیں صرف $x \geq 0$ کے لئے دکھایا گیا ہے۔

کثیر رکنیاں $P_{2n}(x)$ کو سائن تفاعل پر $n \to \infty$ کرنے سے مرکوز ہوتی ہیں۔ ہم $x = 0$ پر کوسائن اور اس کے تفرقات کی قیمتیں جانتے ہوئے کسی بھی فاصلہ پر $\cos x$ کا رویہ جان سکتے ہیں۔ □

ایسے لامتناہی گنّا قابل تفرق تفاعل جنہیں صرف الگ تھلگ نقطوں پر ٹیلر تسلسل سے ظاہر کرنا ممکن ہوں حقیقتاً بہت کم پائے جاتے ہیں۔

مثال ۹.۵۷: ایک تفاعل $f(x)$ جس کا ٹیلر تسلسل ہر x پر مرتکز ہے لیکن یہ تسلسل صرف $x = 0$ پر $f(x)$ کو مرتکز ہے۔

یہ (کافی محنت کے بعد) دکھایا جا سکتا ہے کہ $x = 0$ پر

$$f(x) = \begin{cases} 0, & x = 0 \\ e^{-1/x^2}, & x \neq 0 \end{cases}$$

کا ہر رتبے کا تفرق پایا جاتا ہے اور تمام n کے لئے $f^{(n)}(0) = 0$ ہیں۔ اس کا مطلب ہوا کہ $x = 0$ پر f کا پیدا کردہ تسلسل

$$\begin{aligned} f(0) + f'(0)x + \frac{f''(0)}{2!}x^2 + \cdots + \frac{f^{(n)}(0)}{n!} + \cdots \\ &= 0 + 0 \cdot x + 0 \cdot x^2 + \cdots + 0 \cdot x^n + \cdots \\ &= 0 + 0 + \cdots + 0 + \cdots \end{aligned}$$

ہوگا جو ہر x کے لئے مرتکز ہے (جس کا مجموعہ 0 ہے) لیکن یہ صرف $x = 0$ پر $f(x)$ کو مرتکز ہے۔ تفاعل $y = e^{-1/x^2}$ کی استراری توسیع کی ترسیم (شکل ۹.۲۸) صفر پر اتنا (افقی) سیدھا ہے کہ اس کے تمام تفرقات یہاں 0 کے برابر ہیں۔ □

دو سوالات اب بھی رہتے ہیں۔

ا. ہم x کی کن قیمتوں کے لئے توقع کر سکتے ہیں کہ ایک تفاعل کا پیدا کردہ ٹیلر تسلسل اسی تفاعل پر مرتکز ہوگا؟

ب. کسی دیے گئے وقفہ پر ایک تفاعل کا ٹیلر کثیر رکنی تخمین کتنی درستگی کے ساتھ اس تفاعل کو ظاہر کرتا ہے؟

ان سوالات کے جوابات اگلے حصہ میں ٹیلر کا ایک مسئلہ دیتا ہے۔

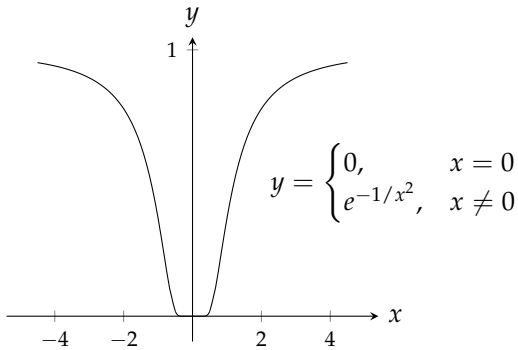

شکل ۹.۲۸: صفر پر تفاعل کی ترسیم اتنا (افقی) سیدھا ہے کہ یہاں اس کے تمام تفرقات 0 ہیں۔

۱۵۱۷۶ **سوالات**

۱۵۱۷۷ **ٹیلر تسلسل کا حصول**

۱۵۱۷۸ سوال ۹.۴۷۲ تا سوال ۹.۴۷۹ میں a پر f کے پیدا کردہ 0 ، 1 ، 2 اور 3 رتبی ٹیلر کثیر رکنی حاصل کریں۔

۱۵۱۷۹ سوال ۹.۴۷۲: $f(x) = \ln x, \quad a = 1$

۱۵۱۸۰ سوال ۹.۴۷۳: $f(x) = \ln(1 + x), \quad a = 0$

۱۵۱۸۱ سوال ۹.۴۷۴: $f(x) = \frac{1}{x}, \quad a = 2$

۱۵۱۸۲ سوال ۹.۴۷۵: $f(x) = \frac{1}{x+2}, \quad a = 0$

۱۵۱۸۳ سوال ۹.۴۷۶: $f(x) = \sin x, \quad a = \frac{\pi}{4}$

۱۵۱۸۴ سوال ۹.۴۷۷: $f(x) = \cos x, \quad a = \frac{\pi}{4}$

۱۵۱۸۵ سوال ۹.۴۷۸: $f(x) = \sqrt{x}, \quad a = 4$

۱۵۱۸۶ سوال ۹.۴۷۹: $f(x) = \sqrt{x + 4}, \quad a = 0$

۱۵۱۸۷ **مکلارن تسلسل کا حصول**

۱۵۱۸۸ سوال ۹.۴۸۰ تا سوال ۹.۴۹۱ میں دیے گئے تفاعل کا مکلارن تسلسل تلاش کریں۔

۱۵۱۸۹ سوال ۹.۴۸۰: e^{-x}

۱۵۱۹۰ سوال ۹.۴۸۱: $e^{x/2}$

۱۵۱۹۱ سوال ۹.۴۸۲: $\frac{1}{1+x}$

۱۵۱۹۲ سوال ۹.۴۸۳: $\frac{1}{1-x}$

سوال ۹.۴۸۴: $\sin 3x$

سوال ۹.۴۸۵: $\sin \frac{x}{2}$

سوال ۹.۴۸۶: $7\cos(-x)$

سوال ۹.۴۸۷: $5\cos \pi x$

سوال ۹.۴۸۸: $\cosh x = \frac{e^x+e^{-x}}{2}$

سوال ۹.۴۸۹: $\sinh x = \frac{e^x-e^{-x}}{2}$

سوال ۹.۴۹۰: $x^4 - 2x^3 - 5x + 4$

سوال ۹.۴۹۱: $(x+1)^2$

ٹیلر تسلسل کی تلاش

سوال ۹.۴۹۲ تا سوال ۹.۴۹۹ میں $x = a$ پر f کا پیدا کردہ ٹیلر تسلسل تلاش کریں۔

سوال ۹.۴۹۲: $f(x) = x^3 - 2x + 4, \quad a = 2$

سوال ۹.۴۹۳: $f(x) = 2x^3 + x^2 + 3x - 8, \quad a = 1$

سوال ۹.۴۹۴: $f(x) = x^4 + x^2 + 1, \quad a = -2$

سوال ۹.۴۹۵: $f(x) = 3x^5 - x^4 + 2x^3 + x^2 - 2, \quad a = -1$

سوال ۹.۴۹۶: $f(x) = \frac{1}{x^2}, \quad a = 1$

سوال ۹.۴۹۷: $f(x) = \frac{x}{1-x}, \quad a = 0$

سوال ۹.۴۹۸: $f(x) = e^x, \quad a = 2$

سوال ۹.۴۹۹: $f(x) = 2^x, \quad a = 1$

نظریہ اور مثالیں

سوال ۹.۵۰۰: نقطہ $x = a$ پر e^x کا پیدا کردہ تسلسل استعمال کرتے ہوئے درج ذیل دکھائیں۔

$$e^x = e^a[1 + (x-a) + \frac{(x-a)^2}{2!} + \cdots]$$

سوال ۹.۵۰۱: نقطہ $x = 1$ پر e^x کا پیدا کردہ ٹیلر تسلسل تلاش کریں۔ سوال ۹.۵۰۰ میں حاصل کلیہ کے ساتھ اپنے جواب کا موازنہ کریں۔

سوال ۹.۵۰۲: فرض کریں $x = a$ پر $f(x)$ کے n رتبہ تک تمام تفرقات پائے جاتے ہوں۔ دکھائیں کہ $x = a$ پر n رتبی ٹیلر کثیر رکنی اور اس کے ابتدائی n تفرقات کی قیمتیں وہیں ہیں جو $x = a$ پر f اور اس کے ابتدائی n تفرقات کی قیمتیں ہیں۔

سوال ۹.۵۰۳: درجہ $n \leq$ کے تمام کثیر رکنیوں میں سب سے بہتر تخمین n رتبی کثیر رکنی دیتی ہے۔ فرض کریں $f(x)$ ایک وقفہ جس کا مرکز $x = a$ ہو پر قابل تفرق ہے اور $g(x) = b_0 + b_1(x-a) + \cdots + b_n(x-a)^n$ ایک کثیر رکنی ہے جس کا درجہ n اور جس کے عددی سر مستقل b_0 ، ۰۰۰ ، b_n ہیں۔ فرض کریں $E(x) = f(x) - g(x)$ ہے۔ دکھائیں کہ g پر درج ذیل شرائط

ا. $E(a) = 0$ نقطہ $x = a$ پر تخمینی خلل صفر ہے۔

ب. $\lim_{x \to a} \frac{E(x)}{(x-a)^n} = 0$ $(x-a)^n$ کے لحاظ سے خلل قابل نظر انداز ہے۔

لاگو کرنے سے درج ذیل حاصل ہوتا ہے۔

$$g(x) = f(a) + f'(a)(x-a) + \frac{f''(a)}{2!}(x-a)^2 + \cdots + \frac{f^{(n)}(a)}{n!}(x-a)^n$$

یوں $P_n(x)$ وہ واحد n کے برابر یا اس سے کم درجہ کی کثیر رکنی ہے جس کا خلل $x = a$ پر صفر اور $(x-a)^n$ کے لحاظ سے قابل نظر انداز ہے۔

دو درجی تخمینات

نقطہ $x = a$ پر دوگنا قابل تفرق تفاعل $f(x)$ کی پیدا کردہ 2 رتبی ٹیلر کثیر رکنی کو $x = a$ پر f کی **دو درجی تخمینہ**[۴۵] کہتے ہیں۔ سوال ۹.۵۰۴ تا سوال ۹.۵۰۹ میں $x = 0$ پر f کی (الف) خط بندی (1 رتبی ٹیلر کثیر رکنی) اور (ب) دو درجی تخمین تلاش کریں۔

سوال ۹.۵۰۴: $f(x) = \ln(\cos x)$

سوال ۹.۵۰۵: $f(x) = e^{\sin x}$

سوال ۹.۵۰۶: $f(x) = \frac{1}{\sqrt{1-x^2}}$

سوال ۹.۵۰۷: $f(x) = \cosh x$

سوال ۹.۵۰۸: $f(x) = \sin x$

سوال ۹.۵۰۹: $f(x) = \tan x$

۹.۱۱ ٹیلر تسلسل کا ارتکاز؛ خلل کے اندازے

اس حصہ میں ان دو سوالات کا جواب دیا جائے گا جن کے جوابات حصہ ۹.۱۰ میں نہیں دیے گئے۔

ا. کب ایک ٹیلر تسلسل اپنے پیدا کردہ تفاعل پر مرکوز ہو گا؟

ب. کسی بھی وقفہ پر ایک تفاعل کے ٹیلر کثیر رکنیاں اس تفاعل کی کتنی درست تخمین دیتی ہیں؟

---

[۴۵] quadraticapproximation

مسئلہ ۹.۱۶:

مسئلہ ٹیلر

اگر $[a,b]$ یا $[b,a]$ پر f اور اس کے n تفرقات f' ، f'' ، ... ، $f^{(n)}$ استمراری ہوں اور (a,b) یا (b,a) پر $f^{(n)}$ قابل تفرق ہو تب a اور b کے بیچ ایک ایسا عدد c موجود ہو گا جو درج ذیل کو مطمئن کرتا ہو۔

$$f(b) = f(a) + f'(a)(b-a) + \frac{f''(a)}{2!}(b-a)^2 + \cdots + \frac{f^{(n)}(a)}{n!}(b-a)^n + \frac{f^{(n+1)}(c)}{(n+1)!}(b-a)^{n+1}$$

مسئلہ ٹیلر در حقیقت مسئلہ اوسط قیمت کی عمومی شکل ہے (سوال ۹.۵۴۸)۔ مسئلہ اوسط قیمت کی عمومی صورت مسئلہ ٹیلر ہے۔ اس حصہ کے آخر میں مسئلہ ٹیلر کا ثبوت پیش کیا گیا ہے۔

مسئلہ ٹیلر کو استعمال کرتے ہوئے ہم عموماً a کو مستقل جبکہ b کو غیر تابع متغیر رکھنا چاہتے ہیں۔ ایسی صورتوں میں ہم b کی جگہ x پر کرتے ہیں۔ اس تبدیلی کے بعد یہ مسئلہ درج ذیل پڑھا جائے گا۔

ضمنی نتیجہ ۹.۲: مسئلہ ٹیلر کا ضمنی نتیجہ

مسئلہ ٹیلر

اگر وقفہ I ، جس میں a پایا جاتا ہو، میں f کے ہر رتبی تفرقات پائے جاتے ہوں، تب ہر مثبت عدد صحیح n اور I میں ہر x کے لئے

$$f(x) = f(a) + f'(a)(x-a) + \frac{f''(a)}{2!}(x-a)^2 + \cdots + \frac{f^{(n)}(a)}{n!}(x-a)^n + R_n(x) \tag{۱}$$

ہو گا جہاں

$$R_n(x) = \frac{f^{(n+1)}(c)}{(n+1)!}(x-a)^{n+1} \tag{۲}$$

ہے جبکہ a اور x کے بیچ c کوئی نقطہ ہے۔

مسئلہ ٹیلر کو اس طرح بیان کرنے سے یہ کہتا ہے کہ I میں ہر x کے لئے درج ذیل ہو گا۔

$$f(x) = P_n(x) + R_n(x)$$

ذرہ رک کر اس قابل ذکر مساوات پر غور کریں۔ یہ کلیہ وقفہ I پر کسی بھی n کے لئے f کی اسی رتبے کی تخمینی کثیر رکنی دیتی ہے اور اس تخمین سے پیدا خلل کا کلیہ بھی دیتی ہے۔

مساوات ا کو **کلیہ ٹیلر**[۴۶] کہتے ہیں۔ تفاعل $R_n(x)$ کو وقفہ I پر f کی تخمین $P_n(x)$ کا n **رتبی باقی** یا **جزو خلل** کہتے ہیں۔ اگر I میں تمام x کے لئے $n \to \infty$ سے $R_n(x) \to 0$ حاصل ہو تب ہم کہتے ہیں کہ $x = a$ پر f کا پیدا کردہ ٹیلر تسلسل I پر f کو مرکوز ہے جس کو درج ذیل لکھا جاتا ہے۔

$$f(x) = \sum_{k=0}^{\infty} \frac{f^{(k)}(a)}{k!}(x-a)^k$$

مثال ۹.۵۸: تفاعل e^x کا مکلارن تسلسل

دکھائیں کہ $x = 0$ پر $f(x) = e^x$ کا پیدا کردہ ٹیلر تسلسل ہر حقیقی x کے لئے f کو مرکوز ہے۔

حل: تمام وقفہ $(-\infty, \infty)$ میں اس تفاعل کے ہر رتبی تفرقات پائے جاتے ہیں۔ مساوات ۱ اور مساوات ۲ تفاعل $f(x) = e^x$ اور $a = 0$ لیتے ہوئے

$$e^x = 1 + x + \frac{x^2}{2!} + \cdots + \frac{x^n}{n!} + R_n(x) \qquad \text{(مثال ۹.۵۵)}$$

اور

$$R_n(x) = \frac{e^c}{(n+1)!}x^{n+1} \qquad \text{0 اور } x \text{ کے بیچ کسی } c \text{ کے لئے}$$

دیتے ہیں۔ چونکہ e^x متغیر x کے ساتھ بڑھتا تفاعل ہے، لہٰذا $e^0 = 1$ اور e^x کے بیچ e^c پایا جائے گا۔ جب x منفی ہو تب c بھی منفی اور $e^c < 1$ ہوگا۔ جب x صفر ہو تب $e^x = 1$ اور $R_n(x) = 0$ ہوگا۔ جب x مثبت ہو تب c بھی مثبت اور $e^c < e^x$ ہوگا۔ یوں

$$\left|R_n(x)\right| \le \frac{|x|^{n+1}}{(n+1)!} \qquad x \le 0$$

اور

$$\left|R_n(x)\right| < e^x \frac{x^{n+1}}{(n+1)!} \qquad x > 0$$

ہوں گے۔ آخر میں، چونکہ تمام x کے لئے

$$\lim_{n\to\infty} \frac{x^{n+1}}{(n+1)!} = 0 \qquad \text{(حصہ ۹.۲)}$$

ہے لہٰذا $\lim_{n\to\infty} R_n(x) = 0$ ہوگا اور تمام x کے لئے یہ تسلسل e^x کو مرکوز ہوگا۔

$$e^x = \sum_{k=0}^{\infty} \frac{x^k}{k!} = 1 + x + \frac{x^2}{2!} + \cdots + \frac{x^k}{k!} + \cdots$$

□

---

[۴۶] Taylor'sformula

باقی کا اندازہ

عموماً $R_n(x)$ کا اندازہ مثال ۹.۵۸ کی طرح لگایا جا سکتا ہے۔ اندازہ لگانے کی یہ ترکیب اتنی آسان ہے کہ مستقل میں استعمال کرنے کی غرض سے ہم اس کو بطور ایک مسئلہ بیان کرتے ہیں۔

مسئلہ ۹.۱۷: **مسئلہ اندازہ باقی**

اگر ایسے مثبت مستقل M اور r ہوں کہ a اور x کے بشمول اور ان کے بیچ تمام t کے لئے $\left|f^{(n+1)}(t)\right| \leq Mr^{n+1}$ ہو تب مسئلہ ٹیلر میں جزو باقی درج ذیل عدم مساوات کو مطمئن کرے گا۔

$$\left|R_n(x)\right| \leq M\,\frac{r^{n+1}|x-a|^{n+1}}{(n+1)!}$$

اگر یہ شرائط تمام n کے لئے مطمئن ہوں اور مسئلہ ٹیلر کے باقی تمام شرائط کو f مطمئن کرتا ہو تب یہ تسلسل $f(x)$ کو مرکوز ہو گا۔

سادہ ترین مثال میں ہم $r = 1$ لے سکتے ہیں بشرطیکہ f اور اس کے تفرقات کی مقدار کا حد کوئی مستقل M ہو۔ دیگر صورتوں میں ہمیں r کو بھی لینا ہو گا۔ مثال کے طور پر اگر $f(x) = 2\cos(3x)$ ہو تب ہر تفرق جزو ضربی 3 دیگا لہٰذا r کو 1 سے بڑا منتخب کرنا لازمی ہو گا۔ اس مخصوص مثال میں ہم $r = 3$ اور $M = 2$ منتخب کر سکتے ہیں۔

مسئلہ اندازہ باقی اور مسئلہ ٹیلر استعمال کرتے ہوئے ہم اب ارتکاز کے مسائل حل کر سکتے ہیں۔ جیسا آپ دیکھیں گے، ہم ان سے کسی تفاعل کو تخمیناً ٹیلر کثیر رکنی سے ظاہر کرنے کی درستگی بھی جان سکتے ہیں۔

مثال ۹.۵۹: تفاعل $\sin x$ کا مکلارن تسلسل

دکھائیں کہ تمام x کے لئے $\sin x$ کا مکلارن تسلسل $\sin x$ کو مرکوز ہے۔

حل: تفاعل اور اس کے تفرقات

$$\begin{aligned}
f(x) &= \sin x, & f'(x) &= \cos x \\
f''(x) &= -\sin x, & f'''(x) &= -\cos x \\
&\vdots \\
f^{(2k)}(x) &= (-1)^k \sin x, & f^{(2k+1)}(x) &= (-1)^k \cos x
\end{aligned}$$

ہیں لہٰذا

$$f^{(2k)}(0) = 0 \qquad\qquad f^{(2k+1)}(0) = (-1)^k$$

ہوں گے۔ تسلسل میں صرف طاق طاقتی اجزاء پائے جائیں گے اور $n = 2k+1$ کے لئے مسئلہ ٹیلر کے تحت درج ذیل ہو گا۔

$$\sin x = x - \frac{x^3}{3!} + \frac{x^5}{5!} - \cdots + \frac{(-1)^k x^{2k+1}}{(2k+1)!} + R_{2k+1}(x)$$

تفاعل $\sin x$ کے تمام تفرقات کی مطلق قیمتیں 1 یا اس سے کم ہیں لہٰذا ہم اندازہ باقی کے مسئلہ میں $M = 1$ اور $r = 1$ لیتے ہوئے درج ذیل حاصل کرتے ہیں۔

$$\left|R_{2k+1}(x)\right| \leq 1 \cdot \frac{|x|^{2k+2}}{(2k+2)!}$$

چونکہ کسی بھی x کے لئے $k \to 0$ سے $\left(|x|^{2k+2} / (2k+2)\right) \to 0$ حاصل ہوتا ہے لہٰذا $R_{2k+1}(x) \to 0$ ہوگا اور تمام x کے لئے $\sin x$ کا مکلارن تسلسل $\sin x$ کو مرکوز ہوگا۔

$$\sin x = \sum_{k=0}^{\infty} \frac{(-1)^k x^{2k+1}}{(2k+1)!} = x - \frac{x^3}{3!} + \frac{x^5}{5!} - \frac{x^7}{7!} + \cdots \tag{۳}$$

□

مثال ۹.۶۰: تفاعل $\cos x$ کا مکلارن تسلسل

دکھائیں کہ تمام x کے لئے $\cos x$ کا مکلارن تسلسل $\cos x$ کو مرکوز ہے۔

حل: ہم مثال ۹.۵۶ میں حاصل $\cos x$ کی کثیر رکنی کے ساتھ جزو باقی جمع کر کے $\cos x$ کا کلیہ ٹیلر حاصل کرتے ہیں جس میں $n = 2k$ ہوگا:

$$\cos x = 1 - \frac{x^2}{2!} + \frac{x^4}{4!} - \cdots + (-1)^k \frac{x^{2k}}{(2k)!} + R_{2k}(x)$$

چونکہ کوسائن کی مطلق قیمت 1 کے برابر یا اس سے کم ہوتی ہے لہٰذا اندازہ باقی کے مسئلہ $M = 1$ اور $r = 1$ کے ساتھ درج ذیل دیگا۔

$$\left|R_{2k}(x)\right| \leq 1 \cdot \frac{|x|^{2k+1}}{(2k+1)!}$$

چونکہ x کی ہر قیمت کے لئے، $k \to \infty$ سے $R_{2k}(x) \to 0$ حاصل ہوگا لہٰذا ہر x کے لئے یہ تسلسل $\cos x$ کو مرکوز ہوگا۔

$$\cos x = \sum_{k=0}^{\infty} \frac{(-1)^k x^{2k}}{(2k)!} = 1 - \frac{x^2}{2!} + \frac{x^4}{4!} - \frac{x^6}{6!} + \cdots \tag{۴}$$

□

مثال ۹.۶۱: ترکیب بدل سے مکلارن تسلسل کا حصول

تفاعل $\cos 2x$ کا مکلارن تسلسل حاصل کریں۔

۱۵۳۰۱ حل: ہم $\cos x$ کے مکارن تسلسل میں x کی جگہ $2x$ پر کر کے $\cos 2x$ کا تسلسل حاصل کیا جا سکتا ہے:

$$\begin{aligned}\cos 2x &= \sum_{k=0}^{\infty} \frac{(-1)^k (2x)^{2k}}{(2k)!} = 1 - \frac{(2x)^2}{2!} + \frac{(2x)^4}{4!} - \frac{(2x)^6}{6!} + \cdots \qquad \text{مساوات ۴ میں } x \text{ کی جگہ } 2x \\ &= 1 - \frac{2^2 x^2}{2!} + \frac{2^4 x^4}{4!} - \frac{2^6 x^6}{6!} + \cdots \\ &= \sum_{k=0}^{\infty} (-1)^k \frac{2^{2k} x^{2k}}{(2k)!}\end{aligned}$$

۱۵۳۰۲ وقفہ $-\infty < x < \infty$ پر مساوات ۴ مطمئن ہوتی ہے لہٰذا وقفہ $-\infty < 2x < \infty$ پر بھی یہ مطمئن ہو گی۔ یوں نیا تسلسل تمام x کے لئے
۱۵۳۰۳ مرتکز ہو گا۔ سوال ۹.۵۵۴ دکھاتا ہے کہ یہ تسلسل درحقیقت $\cos 2x$ کا مکارن تسلسل ہے۔ □

۱۵۳۰۴ مثال ۹.۶۲: مکارن تسلسل کا حصول بذریعہ ضرب
۱۵۳۰۵ تفاعل $x \sin x$ کا مکارن تسلسل تلاش کریں۔

۱۵۳۰۶ حل: ہم $\sin x$ کے مکارن تسلسل کو x سے ضرب دے کر $x \sin x$ کا مکارن تسلسل حاصل کر سکتے ہیں:

$$\begin{aligned}x \sin x &= x\left(x - \frac{x^3}{3!} + \frac{x^5}{5!} - \frac{x^7}{7!} + \cdots\right) \\ &= x^2 - \frac{x^4}{3!} + \frac{x^6}{5!} - \frac{x^8}{7!} + \cdots\end{aligned}$$

۱۵۳۰۷ چونکہ $\sin x$ کا تسلسل تمام x کے لئے مرتکز ہے لہٰذا یہ نیا تسلسل بھی تمام x کے لئے مرتکز ہو گا۔ سوال ۹.۵۵۴ دکھاتا ہے کہ یہ تسلسل درحقیقت
۱۵۳۰۸ $x \sin x$ کا مکارن تسلسل ہے۔ □

۱۵۳۰۹ حذفی خلل

۱۵۳۱۰ تمام x کے لئے e^x کا مکارن تسلسل e^x کو مرکوز ہے۔ اس کے باوجود کسی مخصوص درستگی تک نتائج حاصل کرنے کے لئے درکار اجزاء کی تعداد جاننا
۱۵۳۱۱ ضروری ہو گا۔ مسئلہ اندازہ باقی ہمیں یہ معلومات فراہم کرتا ہے۔

۱۵۳۱۲ مثال ۹.۶۳: e کی قیمت تلاش کریں جس میں خلل 10^{-6} سے کم ہو۔

۱۵۳۱۳ حل: ہم مثال ۹.۵۸ کے نتیجہ میں $x = 1$ لے کر

$$e = 1 + 1 + \frac{1}{2!} + \cdots + \frac{1}{n!} + R_n(1)$$

۱۵۳۱۴ لکھتے ہیں جہاں 0 اور 1 کے بیچ کسی c پر درج ذیل ہو گا۔

$$R_n(1) = e^c \frac{1}{(n+1)!}$$

۱۵۳۱۵ اس مثال کے لئے ہم فرض کرتے ہیں کہ $e < 3$ ہے۔ چونکہ $0 < c < 1$ کے لئے $1 < e^c < 3$ ہے لہٰذا یقیناً درج ذیل ہوگا۔

$$\frac{1}{(n+1)!} < R_n(1) < \frac{3}{(n+1)!}$$

۱۵۳۱۶ تجربہ سے $\frac{1}{9!} > 10^{-6}$ اور $\frac{1}{10!} < 10^{-6}$ حاصل ہوتے ہیں لہٰذا ہمیں $(n+1)$ کو کم از کم 10، یا n کو کم از کم 9 لینا ہوگا۔ خلل کو
۱۵۳۱۷ 10^{-6} سے کم رکھتے ہوئے درج ذیل حاصل ہوتا ہے۔

$$e = 1 + 1 + \frac{1}{2!} + \frac{1}{3!} + \cdots + \frac{1}{9!} \approx 2.718\,282$$

۱۵۳۱۸ □

۱۵۳۱۹ مثال ۹.۶۴: خلل کی مقدار کو 3×10^{-4} سے کم رکھتے ہوئے ہم x کی کن قیمتوں کے لئے $\sin x$ کو $x - \frac{x^3}{3!}$ سے ظاہر کر سکتے ہیں؟

۱۵۳۲۰ حل: ہر غیر صفر x کے لئے $\sin x$ کا مکلارن تسلسل ایک بدلتا تسلسل ہے۔ مسئلہ بدلتے تسلسل کا اندازہ (مسئلہ ۹.۹) کے تحت

$$\sin x = x - \frac{x^3}{3!}\Big| + \frac{x^5}{5!} - \cdots$$

۱۵۳۲۱ کو $\frac{x^3}{3!}$ کے بعد حذف کرنے سے خلل

$$\left|\frac{x^5}{5!}\right| = \frac{|x|^5}{120}$$

۱۵۳۲۲ سے زیادہ نہیں ہوگا۔ یوں اگر

$$\frac{\left|x^5\right|}{120} < 3 \times 10^{-4} \quad \Longrightarrow \quad |x| < \sqrt[5]{360 \times 10^{-4}} \approx 0.514$$

محفوظ رہنے کے لئے نیچے پورے پورے

۱۵۳۲۳ ہو تب خلل 3×10^{-4} سے کم یا اس کے برابر ہوگا۔ مسئلہ بدلتے تسلسل کا اندازہ ہمیں وہ کچھ بتاتا ہے جو مسئلہ اندازہ باقی ہمیں نہیں بتاتا، یعنی، چونکہ مثبت
۱۵۳۲۴ x کے لئے $\frac{x^5}{120}$ مثبت ہوگا لہٰذا $\sin x$ کا اندازہ $x - \frac{x^3}{3!}$ درحقیقت اصل قیمت سے کم ہوگا۔

۱۵۳۲۵ شکل ۹.۲۹ میں $\sin x$ اور اس کی کئی تخمینی ٹیلر کثیر رکنیاں دکھائی گئی ہیں۔ وقفہ $-1 \le x \le 1$ پر کثیر رکنی $P_3(x) = x - \frac{x^3}{3!}$ اور
۱۵۳۲۶ تفاعل $\sin x$ کے ترسیمات بالکل ایک دوسرے جیسے ہیں۔

۱۵۳۲۷ آپ سوچ رہے ہوں گے کہ مسئلہ اندازہ باقی اور مسئلہ اندازہ بدلتا تسلسل کے نتائج میں سے کونسا اندازہ بہتر ہے۔ اگر ہم

$$\sin x = x - \frac{x^3}{3!} + R_3$$

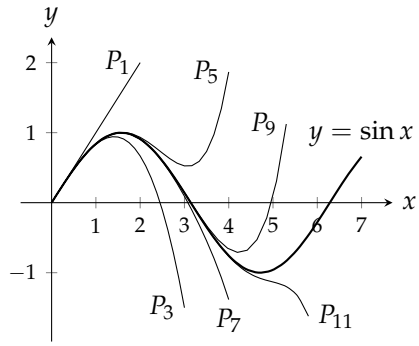

شکل ۹.۲۹: $n \to \infty$ کرنے سے کثیر رکنیاں $\sin x$ پر مرکوز ہوتی ہیں

۱۵۳۲۸ لکھیں تب مسئلہ اندازہ باقی کے تحت

$$|R_3| \leq 1 \cdot \frac{|x|^4}{4!} = \frac{|x|^4}{24}$$

۱۵۳۲۹ ہو گا جو اتنا بہتر نہیں ہے۔ لیکن اگر ہم $x - \frac{x^3}{3!} = 0 + x + 0x^2 - \frac{x^3}{3!} + 0x^4$ لکھیں جو 3 رتبی اور 4 رتبی ٹیلر کثیر رکنی ہے تب

$$\sin x = x - \frac{x^3}{3!} + 0 + R_4$$

۱۵۳۳۰ لکھا جا سکتا ہے اور مسئلہ اندازہ باقی میں $M = r = 1$ لیتے ہوئے

$$|R_4| \leq 1 \cdot \frac{|x|^5}{5!} = \frac{|x|^5}{120}$$

۱۵۳۳۱ حاصل ہو گا۔ یہی نتیجہ مسئلہ اندازہ بدلتا تسلسل سے حاصل ہوتا ہے۔ □

۱۵۳۳۲ ٹیلر تسلسلوں کا ملاپ

۱۵۳۳۳ ٹیلر تسلسلوں کے وقفات ارتکاز کے تقاطع پر، ٹیلر تسلسلوں کو جمع، منفی اور مستقل سے ضرب دیا جا سکتا ہے۔ یوں حاصل تسلسل بھی ٹیلر تسلسل ہوں گے۔ تفاعل
۱۵۳۳۴ $f(x) + g(x)$ کا ٹیلر تسلسل $f(x)$ اور $g(x)$ کے ٹیلر تسلسلوں کا مجموعہ ہو گا۔ اسی طرح 1 کے ساتھ $\cos 2x$ کا مکلارن تسلسل جمع کر کے
۱۵۳۳۵ نتیجہ کو 2 سے تقسیم کرنے سے $\frac{1+\cos 2x}{2}$ کا مکلارن تسلسل حاصل ہو گا۔ $\sin x$ اور $\cos x$ کے مکلارن تسلسلوں کو جزو در جزو جمع کرنے سے
۱۵۳۳۶ $\sin x + \cos x$ کا مکلارن تسلسل حاصل ہو گا۔

۱۵۳۳۷ **کلیہ یولر**

۱۵۳۳۸ آپ جانتے ہیں کہ $a + ib$ روپ کے عدد کو مخلوط عدد کہتے ہیں، جہاں a اور b مستقل ہیں جبکہ $i = \sqrt{-1}$ ہے۔ اگر ہم e^x کے مکلارن تسلسل
۱۵۳۳۹ میں $x = i\theta$ پر کریں، جہاں θ حقیقی ہو، اور درج ذیل تعلقات استعمال کریں

$$i^2 = -1, \quad i^3 = i^2 i = -i, \quad i^2 = i^2 i^2 = 1, \quad i^5 = i^4 i = i, \quad \cdots$$

۱۵۳۴۰ تب درج ذیل حاصل ہو گا۔

$$\begin{aligned} e^{i\theta} &= 1 + \frac{i\theta}{1!} + \frac{i^2\theta^2}{2!} + \frac{i^3\theta^3}{3!} + \frac{i^4\theta^4}{4!} + \frac{i^5\theta^5}{5!} + \frac{i^6\theta^6}{6!} + \cdots \\ &= \left(1 - \frac{\theta^2}{2!} + \frac{\theta^4}{4!} - \frac{\theta^6}{6!} + \cdots\right) + i\left(\theta - \frac{\theta^3}{3!} + \frac{\theta^5}{5!} - \cdots\right) \\ &= \cos\theta + i\sin\theta \end{aligned}$$

۱۵۳۴۱ چونکہ ہم e کے خیالی طاقت کی تعریف نہیں جانتے ہیں لہٰذا درج بالا مساوات $e^{i\theta} = \cos\theta + i\sin\theta$ کو ثابت نہیں کرتا ہے۔ البتہ یہ مساوات
۱۵۳۴۲ ہمیں $e^{i\theta}$ کی ایسی تعریف پیش کرنے کا طریقہ دیتی ہے جو باقی ان تمام چیزوں کے ساتھ مطابقت رکھتی ہو جنہیں ہم جانتے ہیں۔

۱۵۳۴۳ تعریف: کسی بھی حقیقی عدد θ کے لئے درج ذیل ہو گا۔

$$e^{i\theta} = \cos\theta + i\sin\theta \tag{۵}$$

۱۵۳۴۴ □

۱۵۳۴۵ مساوات ۵ جو **کلیہ یولر**[۴۷] کہلاتی ہے، کسی بھی مخلوط عدد $a + ib$ کے لئے ہمیں e^{a+ib} کی تعریف $e^a \cdot e^{ib}$ دیتی ہے۔

۱۵۳۴۶ **مسئلہ ٹیلر کا ثبوت**

۱۵۳۴۷ ہم $a < b$ فرض کرتے ہوئے مسئلہ ٹیلر ثابت کرتے ہیں۔ ($a > b$ کے لئے بھی ثبوت تقریباً ایسا ہے۔)

۱۵۳۴۸ نقطہ $x = a$ پر ٹیلر کثیر رکنی

$$P_n(x) = f(a) + f'(a)(x-a) + \frac{f''(a)}{2!}(x-a)^2 + \cdots + \frac{f^{(n)}(a)}{n!}(x-a)^n$$

۱۵۳۴۹ اور اس کے ابتدائی n تفرقات، تفاعل f اور اس کے ابتدائی n تفرقات کے موافق ہیں۔ اس میں $K(x-a)^{n+1}$ طرز کا جزو، جہاں K مستقل
۱۵۳۵۰ ہے، شامل کرنے سے یہ موافقت خراب نہیں ہوتی ہے چونکہ $x = a$ پر ایسا جزو اور اس کے تمام تفرقات صفر ہیں۔ نقطہ $x = a$ پر یہ نیا تفاعل

$$\phi_n(x) = P_n(x) + K(x-a)^{n+1}$$

---

[۴۷] Euler'sformula

۱۵۳۵۱ اور اس کے ابتدائی n تفرقات، f اور اس کے ابتدائی n تفرقات کے ساتھ موافقت رکھیں گے۔

۱۵۳۵۲ ہم ایسا K منتخب کرتے ہیں کہ $x = b$ پر $y = \phi_n(x)$ کی منحنی اور اصل تفاعل $y = f(x)$ کی منحنی ایک دوسری جیسی ہوں، یعنی:

$$f(b) = P_n(b) + K(b-a)^{n+1} \quad \Longrightarrow \quad K = \frac{f(b) - P_n(b)}{(b-a)^{n+1}} \tag{۶}$$

۱۵۳۵۳ جب K کی قیمت مساوات ۶ دیتی ہو تب وقفہ $[a, b]$ میں تمام x کے لئے اصل تفاعل f اور تخمینی تفاعل ϕ_n میں فرق درج ذیل تفاعل دیگا۔

$$F(x) = f(x) - \phi_n(x)$$

۱۵۳۵۴ ہم اب مسئلہ رول (حصہ ۴.۲) استعمال کرتے ہیں۔ پہلی بات، چونکہ $F(a) = F(b) = 0$ ہے اور $[a, b]$ پر F اور F' استمراری ہیں، ہم
۱۵۳۵۵ جانتے ہیں کہ

$$F'(c_1) = 0 \qquad \text{پر } c_1 \text{ میں کسی } (a, b)$$

۱۵۳۵۶ ہوگا۔ دوسری بات، چونکہ $F'(a) = F'(c_1) = 0$ ہے اور ساتھ ہی F' اور F'' دونوں $[a, c_1]$ پر استمراری ہیں، ہم جانتے ہیں کہ

$$F''(c_2) = 0 \qquad \text{پر } c_2 \text{ میں کسی } (a, c_1)$$

۱۵۳۵۷ ہوگا۔ یک بعد دیگرے F'' ، F''' ، . . . ، $F^{(n-1)}$ پر مسئلہ رول کی اطلاق سے درج ذیل مراد لیا جا سکتا ہے۔

$$\text{ہو، } F'''(c_3) = 0 \text{ کہ } c_3 \text{ میں ایسا } (a, c_2)$$

$$\text{ہو، } F^{(4)}(c_4) = 0 \text{ کہ } c_4 \text{ میں ایسا } (a, c_3)$$

$$\vdots$$

$$\text{ہو۔ } F^{(n)}(c_n) = 0 \text{ کہ } c_n \text{ میں ایسا } (a, c_{n-1})$$

۱۵۳۵۸ آخر میں چونکہ $[a, c_n]$ پر $F^{(n)}$ استمراری اور (a, c_n) پر قابل تفرق ہے، اور $F^{(n)}(a) = F^{(n)}(c_n) = 0$ ہے، مسئلہ رول سے
۱۵۳۵۹ مراد لیا جا سکتا ہے کہ (a, c_n) میں ایسا عدد c_{n+1} پایا جاتا ہے کہ درج ذیل مطمئن ہو۔

$$F^{(n+1)}(c_{n+1}) = 0 \tag{۷}$$

۱۵۳۶۰ تفاعل $F(x) = f(x) - P_n(x) - K(x-a)^{n+1}$ کا $n+1$ گنّا تفرق درج ذیل ہوگا۔

$$F^{(n+1)}(x) = f^{(n+1)}(x) - 0 - (n+1)!K \tag{۸}$$

۱۵۳۶۱ مساوات ۷ اور مساوات ۸ مل کر

$$K = \frac{f^{(n+1)}(c)}{(n+1)!} \qquad \text{پر } c = c_{n+1} \text{ میں کسی } (a, b) \tag{۹}$$

۱۵۳۶۲ دیتے ہیں۔ مساوات ۶ اور مساوات ۹ درج ذیل دیتے ہیں۔

$$f(b) = P_n(b) + \frac{f^{(n+1)}(c)}{(n+1)!}(b-a)^{n+1}$$

۱۵۳۶۳ یوں ثبوت مکمل ہوتا ہے۔

سوالات

مکلارن تسلسل بذریعہ بدل

سوال ۹.۵۱۰ تا سوال ۹.۵۱۵ میں (مثال ۹.۶۱ کی طرح) ترکیب بدل سے تفاعل کا مکلارن تسلسل حاصل کریں۔

سوال ۹.۵۱۰: e^{-5x}

سوال ۹.۵۱۱: $e^{-x/2}$

سوال ۹.۵۱۲: $5\sin(-x)$

سوال ۹.۵۱۳: $\sin\left(\frac{\pi x}{2}\right)$

سوال ۹.۵۱۴: $\cos\sqrt{x}$

سوال ۹.۵۱۵: $\cos\left(\frac{x^{3/2}}{\sqrt{2}}\right)$

مزید مکلارن تسلسل

سوال ۹.۵۱۶ تا سوال ۹.۵۲۷ میں دیے گئے تفاعل کے مکلارن تسلسل حاصل کریں۔

سوال ۹.۵۱۶: xe^x

سوال ۹.۵۱۷: $x^2\sin x$

سوال ۹.۵۱۸: $\frac{x^2}{2} - 1 + \cos x$

سوال ۹.۵۱۹: $\sin x - x + \frac{x^3}{3!}$

سوال ۹.۵۲۰: $x\cos\pi x$

سوال ۹.۵۲۱: $x^2\cos(x^2)$

سوال ۹.۵۲۲: $\cos^2 x$ (اشارہ: $\cos^2 x = \frac{1+\cos 2x}{2}$)

سوال ۹.۵۲۳: $\sin^2 x$

سوال ۹.۵۲۴: $\frac{x^2}{1-2x}$

سوال ۹.۵۲۵: $x\ln(1+2x)$

سوال ۹.۵۲۶: $\frac{1}{(1-x)^2}$

سوال ۹.۵۲۷: $\frac{2}{(1-x)^3}$

اندازہ خلل

سوال ۹.۵۲۸: خلل کی مقدار 5×10^{-4} سے بڑھائے بغیر x کی کن قیمتوں کے لئے $\sin x$ کو $x - \frac{x^3}{6}$ سے ظاہر کیا جا سکتا ہے؟ اپنے جواب کی وجہ پیش کریں۔

سوال ۹.۵۲۹: اگر $\cos x$ کو $1 - \frac{x^2}{2}$ سے ظاہر کیا جائے اور $|x| < 0.5$ ہو تب خلل کا اندازہ لگائیں۔ کیا $1 - \frac{x^2}{2}$ اصل سے زیادہ یا کم ہو گا؟ اپنے جواب کی وجہ پیش کریں۔

سوال ۹.۵۳۰: اگر $|x| < 10^{-3}$ ہو تب تخمین $\sin x = x$ کتنا درست ہو گا؟ x کی کن قیمتوں کے لئے $x < \sin x$ ہو گا؟

سوال ۹.۵۳۱: چھوٹے x کے لئے تخمین $\sqrt{1+x} = 1 + \frac{x}{2}$ استعمال کیا جاتا ہے۔ خلل کا اندازہ $|x| < 0.01$ کی صورت میں لگائیں۔

سوال ۹.۵۳۲: تخمین $e^x = 1 + x + \frac{x^2}{2}$ چھوٹے x کی صورت میں استعمال کیا جاتا ہے۔ مسئلہ اندازہ باقی استعمال کرتے ہوئے $|x| < 0.1$ کے لئے خلل تلاش کریں۔

سوال ۹.۵۳۳: تفاعل e^x کا تسلسل $x < 0$ کی صورت میں بدلتا تسلسل ہو گا (سوال ۹.۵۳۲)۔ تفاعل e^x کی جگہ $1 + x + \frac{x^2}{2}$ استعمال کرتے ہوئے مسئلہ بدلتے تسلسل کا اندازہ کی مدد سے $-0.1 < x < 0$ کی صورت میں خلل کا اندازہ لگائیں۔ اپنے جواب کا موازنہ سوال ۹.۵۳۲ کے نتیجہ کے ساتھ کریں۔

سوال ۹.۵۳۴: تخمین $\sinh x = x + \frac{x^3}{3!}$ میں $|x| < 0.5$ کی صورت میں خلل کا اندازہ لگائیں۔ (اشارہ: R_4 استعمال کریں نا کہ R_3)

سوال ۹.۵۳۵: جب $0 \le h \le 0.01$ ہو، دکھائیں کہ e^h کی جگہ $1 + h$ استعمال کرنے سے پیدا خلل h کے $6\,\%$ سے تجاوز نہیں کرے گا۔ یہاں $e^{0.01} = 1.01$ استعمال کریں۔

سوال ۹.۵۳۶: تفاعل $\ln(1 + x)$ کو x کی کن مثبت قیمتوں کے لئے تخمیناً x لکھتے ہوئے خلل کی مقدار x کی $1\,\%$ سے تجاوز نہیں کرے گی؟

سوال ۹.۵۳۷: آپ $x = 1$ پر $\tan^{-1} x$ کے مکلارن تسلسل سے $\frac{\pi}{4}$ کی اندازاً قیمت دریافت کرنا چاہتے ہیں۔ نتیجہ 2 اعشاریہ درست حاصل کرنے کے لئے درکار اجزاء کی تعداد، مسئلہ بدلتے تسلسل کا اندازہ استعمال کرتے ہوئے معلوم کریں۔

سوال ۹.۵۳۸:

ا. تفاعل $\sin x$ کا مکلارن تسلسل اور مسئلہ بدلتے تسلسل کا اندازہ استعمال کرتے ہوئے درج ذیل دکھائیں۔

$$1 - \frac{x^2}{6} < \frac{\sin x}{x} < 1 \qquad x \neq 0$$

ب. وقفہ $-5 \le x \le 5$ کے لئے $f(x) = \frac{\sin x}{x}$ کے ساتھ $y = 1 - \frac{x^2}{6}$ اور $y = 1$ کو کمپیوٹر پر ترسیم کریں۔ ترسیمات کے آپس میں تعلق پر تبصرہ کریں۔

سوال ۹.۵۳۹:

ا. تفاعل $\cos x$ کا مکلارن تسلسل اور مسئلہ بدلتے تسلسل کا اندازہ استعمال کرتے ہوئے درج ذیل دکھائیں۔

$$\frac{1}{2} - \frac{x^2}{24} < \frac{1 - \cos x}{x^2} < \frac{1}{2} \qquad x \neq 0$$

ب. وقفہ $-9 \le x \le 9$ پر تفاعل $f(x) = \frac{1-\cos x}{x^2}$ کے ساتھ $y = \frac{1}{2} - \frac{x^2}{24}$ اور $y = \frac{1}{2}$ کو کمپیوٹر پر ترسیم کریں۔ان ترسیمات کا ایک دوسرے کے ساتھ تعلق پر تبصرہ کریں۔

مکلارن تسلسل کا حصول اور اس کی پہچان

سوال ۹.۵۴۰ تا سوال ۹.۵۴۳ میں کسی نقطہ پر تفاعل $f(x)$ کے مکلارن تسلسل کی قیمت دی گئی ہے۔ تفاعل اور نقطہ کی نشاندہی کریں۔ تسلسل کے مجموعہ کی قیمت تلاش کریں۔

سوال ۹.۵۴۰: $(0.1) - \frac{(0.1)^3}{3!} + \frac{(0.1)^5}{5!} - \cdots + \frac{(-1)^k(0.1)^{2k+1}}{(2k+1)!} + \cdots$

سوال ۹.۵۴۱: $1 - \frac{\pi^2}{4^2 \cdot 2!} + \frac{\pi^4}{4^4 \cdot 4!} - \cdots + \frac{(-1)^k(\pi)^{2k}}{4^{2k} \cdot (2k!)} + \cdots$

سوال ۹.۵۴۲: $\frac{\pi}{3} - \frac{\pi^3}{3^3 \cdot 3} + \frac{\pi^5}{3^5 \cdot 5} - \cdots + \frac{(-1)^k \pi^{2k+1}}{3^{2k+1}(2k+1)} + \cdots$

سوال ۹.۵۴۳: $\pi - \frac{\pi^2}{2} + \frac{\pi^3}{3} - \cdots + \frac{(-1)^{k-1}\pi^k}{k} + \cdots$

سوال ۹.۵۴۴: تفاعل $e^x \sin x$ کے مکلارن تسلسل کے ابتدائی پانچ غیر صفر اجزاء دریافت کرنے کی خاطر e^x اور $\sin x$ کے مکلارن تسلسلوں کو ضرب کریں۔

سوال ۹.۵۴۵: تفاعل $e^x \cos x$ کے مکلارن تسلسل کے ابتدائی پانچ غیر صفر اجزاء دریافت کرنے کی خاطر e^x اور $\cos x$ کے مکلارن تسلسلوں کو ضرب کریں۔

سوال ۹.۵۴۶: تفاعل $\sin^2 x$ کے مکلارن تسلسل کو مماثل $\sin^2 x = \frac{1-\cos 2x}{2}$ کی مدد سے تلاش کریں۔اس تسلسل کا تفرق لے کر $2 \sin x \cos x$ کا مکلارن تسلسل دریافت کریں۔اس کو پرکھیں کہ یہ $\sin 2x$ کا تسلسل ہے۔

سوال ۹.۵۴۷: تفاعل $\cos^2 x$ کا طاقتی تسلسل $\cos^2 x = \cos 2x + \sin^2 x$ کی مدد سے حاصل کریں(سوال ۹.۵۴۶)۔

نظریہ اور مثالیں

سوال ۹.۵۴۸: مسئلہ ٹیلر اور مسئلہ اوسط قیمت

سمجھائیں کیسے مسئلہ اوسط قیمت (مسئلہ ۴.۴) درحقیقت مسئلہ ٹیلر کی ایک مخصوص صورت ہے۔

سوال ۹.۵۴۹: نقاط تصریف پر خط بندی (سوال ۴.۴۶۷ جاری)

دکھائیں اگر دوگنّا قابل تفرق تفاعل f کا $x = a$ پر نقطہ تصریف پایا جاتا ہو، تب $x = a$ پر f کی خط بندی، $x = a$ پر f کی دو درجی تخمین بھی ہو گی۔اس سے سمجھ آتی ہے کہ نقطہ تصریف پر مماس کیوں ترسیم پر اتنا بہتر بیٹھتا ہے۔

سوال ۹.۵۵۰: دوگنّا تفرقی پرکھ

درج ذیل مساوات

$$f(x) = f(a) + f'(a)(x-a) + \frac{f''(c_2)}{2}(x-a)^2$$

استعمال کرتے ہوئے درج ذیل پرکھ کی تصدیق کریں۔

فرض کریں f کا ایک گنّا اور دوگنّا استمراری تفرق پایا جاتا ہے اور $f'(a) = 0$ ہے۔تب درج ذیل ہو گا۔

ا. اگر ایک پورے وقفہ، جس کے اندرون میں a پایا جاتا ہو، میں $f'' \leq 0$ ہو تب f کا a پر مقامی زیادہ سے زیادہ پایا جائے گا۔

ب. اگر ایک پورے وقفہ، جس کے اندرون میں a پایا جاتا ہو، میں $f'' \geq 0$ ہو تب f کا a پر مقامی کم سے کم پایا جائے گا۔

سوال ۹.۵۵۱: کعبی تخمین

کلیہ ٹیلر میں $a = 0$ اور $n = 3$ لیتے ہوئے $x = 0$ پر $f(x) = \frac{1}{1-x}$ کی معیاری کعبی تخمین تلاش کریں۔ اس تخمین کے خلل کی بالائی حد $|x| \leq 0.1$ کی صورت میں تلاش کریں۔

سوال ۹.۵۵۲:

ا. کلیہ ٹیلر میں $n = 2$ لیتے ہوئے $x = 0$ پر $f(x) = (1+x)^k$ (جہاں k مستقل ہے) کی دو درجی تخمین تلاش کریں۔

ب. وقفہ $[0, 1]$ میں $k = 3$ کی صورت میں x کی کن قیمتوں کے لئے دو درجی تخمین کا خلل $\frac{1}{100}$ سے کم ہو گا؟

سوال ۹.۵۵۳: π کی بہتر تخمین

ا. فرض کریں n اعشاریہ درستگی تک π کی تخمین P ہے۔ دکھائیں کہ $P = \sin P$ کی درستگی $3n$ اعشاریہ ہو گی۔ (اشارہ: $P = \pi + x$ لیں۔)

ب. کیلکولیٹر کی مدد سے اس کی تصدیق کریں۔

سوال ۹.۵۵۴: تفاعل $f(x) = \sum_{n=0}^{\infty} a_n x^n$ کا پیدا کردہ مکلارن تسلسل $\sum_{n=0}^{\infty} a_n x^n$ ہے۔ ایک تفاعل جس کے طاقتی تسلسل کا رداس ارتکاز $c > 0$ ہو، کا مکلارن تسلسل وقفہ $(-c, c)$ کے ہر نقطہ پر f کو مرکوز ہو گا۔ اس کی تصدیق کی خاطر دکھائیں کہ $f(x) = \sum_{n=0}^{\infty} a_n x^n$ کا مکلارن تسلسل از خود $\sum_{n=0}^{\infty} a_n x^n$ ہو گا۔

نتیجتاً مکلارن تسلسل کو x سے ضرب دے کر حاصل تسلسل مثلاً

$$x \sin x = x^2 - \frac{x^4}{3!} + \frac{x^6}{5!} - \frac{x^8}{7!} + \cdots$$

یا

$$x^2 e^x = x^2 + x^3 + \frac{x^4}{2!} + \frac{x^5}{3!} + \cdots$$

اور ساتھ ہی مرتکز طاقتی تسلسل کے تفرق یا تکمل سے حاصل تسلسل بھی ان تفاعل کے مکلارن تسلسل ہوں گے جو انہیں پیدا کرتے ہیں۔

سوال ۹.۵۵۵: طاق اور جفت تفاعل کے مکلارن تسلسل (سوال ۹.۴۶۸ جاری)

فرض کریں کھلا وقفہ $(-c, c)$ میں تمام x کے لئے $f(x) = \sum_{n=0}^{\infty} a_n x^n$ مرتکز ہو۔ دکھائیں کہ

ا. اگر f جفت ہو تب $a_1 = a_3 = a_5 = \cdots = 0$ ہوں گے اور f کے تسلسل میں صرف جفت طاقت ہوں گے۔

ب. اگر f طاق ہو تب $a_2 = a_4 = a_6 = \cdots = 0$ ہوں گے اور f کے تسلسل میں صرف طاق طاقت ہوں گے۔

سوال ۹.۵۵۶: دوری تفاعل کے ٹیلر کثیر رکنیاں

ا. یہ دکھانے کی خاطر کہ ہر استمراری دوری تفاعل $f(x), -\infty < x < \infty$ محدود ہوگا، دکھائیں کہ ہر x کے لئے ایسا مثبت مستقل M موجود ہوگا کہ $|f(x)| \leq M$ مطمئن ہو۔

ب. دکھائیں کہ $f(x) = \cos x$ کا ہر پیدا کردہ مثبت درجی ٹیلر کثیر رکنی، $|x|$ بڑھانے سے آخر کار $\cos x$ کی ترسیم سے دور ہٹے گا۔ شکل ۹.۲۷ میں اس عمل کو آپ دیکھ سکتے ہیں۔ شکل ۹.۲۹ میں $\sin x$ کی کثیر رکنیوں کا رویہ بھی ایسا ہے۔

سوال ۹.۵۵۷:

ا. منحنی $y = \frac{1}{3} - \frac{x^2}{5}$ اور $y = \frac{x - \tan^{-1} x}{x^3}$ کے ساتھ $y = \frac{1}{3}$ کو ترسیم کریں۔

ب. جو کچھ آپ کو نظر آتا ہے اس کو مکلارن تسلسل کی مدد سے سمجھائیں۔ درج ذیل کیا ہوگا؟

$$\lim_{x \to 0} \frac{x - \tan^{-1} x}{x^3}$$

کلیہ یولر

سوال ۹.۵۵۸: درج ذیل e کی طاقتوں کو مساوات ۵ کی مدد سے $a + ib$ کے روپ میں لکھیں۔

ا. $e^{-i\pi}$ ب. $e^{i\pi/4}$ ج. $e^{-i\pi/2}$

سوال ۹.۵۵۹: یولر مماثل

درج ذیل مساوات ۵ کی مدد سے حاصل کریں۔

$$\sin\theta = \frac{e^{i\theta} - e^{-i\theta}}{2i} \qquad \cos\theta = \frac{e^{i\theta} + e^{-i\theta}}{2}$$

سوال ۹.۵۶۰: تفاعل $e^{i\theta}$ اور $e^{-i\theta}$ کے معیاری مکلارن تسلسل استعمال کرتے ہوئے سوال ۹.۵۵۹ کے مماثل کی تصدیق کریں۔

سوال ۹.۵۶۱: درج ذیل دکھائیں۔

ا. $\cosh i\theta = \cos\theta$ ب. $\sinh i\theta = i\sin\theta$

سوال ۹.۵۶۲: تفاعل e^x اور $\sin x$ کے مکلارن تسلسلوں کو آپس میں ضرب کرتے ہوئے $e^x \sin x$ کے مکلارن تسلسل کے x^5 تک اجزاء تلاش کریں۔ یہ تسلسل $e^{(1+i)x} = e^x \cdot e^{ix}$ کا خیالی حصہ ہوگا۔ اس حقیقت کو استعمال کرتے ہوئے اپنے نتیجہ کی تصدیق کریں۔ تفاعل $e^x \sin x$ کا تسلسل x کی کن قیمتوں کے لئے مرتکز ہوگا؟

سوال ۹.۵۶۳: حقیقی a اور b کے لئے ہم $e^{(a+ib)x}$ کی تعریف درج ذیل مساوات لیتے ہیں۔

$$e^{(a+ib)x} = e^{ax} \cdot e^{ibx} = e^{ax}(\cos bx + i \sin bx)$$

اس مساوات کے دائیں ہاتھ کا تفرق لیتے ہوئے درج ذیل دکھائیں۔

$$\frac{\mathrm{d}}{\mathrm{d}x}e^{(a+ib)x} = (a+ib)e^{(a+ib)x}$$

یوں تفرق کا جانا پہچانا قاعدہ $\frac{\mathrm{d}}{\mathrm{d}x}e^{kx} = ke^{kx}$ حقیقی k کے ساتھ ساتھ مخلوط k کے لئے بھی درست ہے۔

سوال ۹.۵۶۴: تفاعل $e^{i\theta}$ کی تعریف استعمال کرتے ہوئے دکھائیں کہ کسی بھی حقیقی اعداد θ ، θ_1 اور θ_2 کے لئے درج ذیل ہو گا۔

ا. $e^{i\theta_1}e^{i\theta_2} = e^{i(\theta_1+\theta_2)}$

ب. $e^{-i\theta} = 1/e^{i\theta}$

سوال ۹.۵۶۵: دو مخلوط اعداد $a+ib$ اور $c+id$ صرف اور صرف اس صورت ایک دوسرے کے برابر ہوں گے اگر $a=c$ اور $b=d$ ہوں۔ اس حقیقت کو استعمال کرتے ہوئے

$$\int e^{ax}\cos bx\,\mathrm{d}x \quad \text{اور} \quad \int e^{ax}\sin bx\,\mathrm{d}x$$

کی قیمتیں

$$\int e^{(a+ib)x}\,\mathrm{d}x = \frac{a-ib}{a^2+b^2}e^{(a+ib)x} + C$$

سے حاصل کریں جہاں $C = C_1 + iC_2$ تکمل کا مخلوط مستقل ہے۔

کمپیوٹر کا استعمال: خطی، دو درجی اور کعبی تخمین

کلیہ ٹیلر میں $n=1$ اور $a=0$ پر کرنے سے $x=0$ پر تفاعل کی خطی تخمین حاصل ہوتی ہے جبکہ $n=2$ اور $n=3$ لینے سے بالترتیب معیاری دو درجی اور کعبی تخمین حاصل ہوتی ہیں۔ ان سوالات میں ہم ان تخمینات سے پیدا خلل پر غور کرتے ہیں۔ ہم دو سوالات کے جوابات جاننا چاہتے ہیں:

ا. خلل کو 10^{-2} سے کم رکھتے ہوئے x کی کن قیمتوں کے لئے تفاعل کی جگہ یہ تخمین استعمال کیے جا سکتے ہیں؟

ب. کسی مخصوص وقفہ پر تفاعل کی جگہ ان تخمین کے استعمال سے زیادہ سے زیادہ خلل کتنا متوقع ہو گا؟

کمپیوٹر کی مدد لیتے ہوئے سوال ۹.۵۶۶ تا سوال ۹.۵۷۱ میں دیے تفاعل اور وقفات کے لئے درج ذیل اقدام سے سوال-ا اور سوال-ب کے جوابات حاصل کریں۔

ا. دیے گئے وقفہ پر تفاعل ترسیم کریں۔

۲. نقطہ $x=0$ پر ٹیلر کثیر رکنیاں $P_1(x)$ ، $P_2(x)$ اور $P_3(x)$ تلاش کریں۔

۳. ہر ایک ٹیلر کثیر رکنی کے لئے باقی جزو سے وابستہ $(n+1)$ واں تفرق $f^{(n+1)}(c)$ حاصل کریں۔ اس تفرق کو دیے گئے وقفہ پر c کے لحاظ سے ترسیم کر کے اس کی زیادہ سے زیادہ مطلق قیمت M کا اندازہ لگائیں۔

۴. ہر ایک کثیر رکنی کے لئے باقی $R_n(x)$ تلاش کریں۔ قدم-3 میں اندازاً حاصل M کو $f^{(n+1)}(c)$ کی جگہ پر کرتے ہوئے دیے گئے وقفہ پر $R_n(x)$ ترسیم کر کے اس سے x کی قیمت سوال-ا کے لئے حاصل کریں۔

۵. دیے گئے وقفہ پر $E_n(x)$ ترسیم کر کے اندازاً خلل کا اصل خلل $E_n(x) = \left|f(x) - P_n(x)\right|$ کے ساتھ موازنہ کریں۔ یہ سوال-ب کا جواب حاصل کرنے میں مدد کرے گا۔

۶. اصل تفاعل اور اس کے تین تخمینی ٹیلر کثیر رکنیوں کو ایک ساتھ ترسیم کریں۔ قدم 4 اور 5 میں حاصل معلومات کے لحاظ سے ان ترسیمات پر تبصرہ کریں۔

سوال ۹.۵۶۶: $f(x) = \frac{1}{\sqrt{1+x}}, \quad |x| \leq \frac{3}{4}$

سوال ۹.۵۶۷: $f(x) = (1+x)^{3/2}, \quad -\frac{1}{2} \leq x \leq 2$

سوال ۹.۵۶۸: $f(x) = \frac{x}{x^2+1}, \quad |x| \leq 2$

سوال ۹.۵۶۹: $f(x) = (\cos x)(\sin 2x), \quad |x| \leq 2$

سوال ۹.۵۷۰: $f(x) = e^{-x}\cos 2x, \quad |x| \leq 1$

سوال ۹.۵۷۱: $f(x) = e^{x/3}\sin 2x, \quad |x| \leq 2$

۹.۱۲ طاقتی تسلسل کے استعمال

اس حصہ میں ثنائی تسلسل متعارف کرایا جائے گا جو طاقت اور جذر کا اندازہ کرنے میں مددگار ثابت ہوتا ہے۔ مزید ابتدائی قیمت مسئلے کے حل کو تخمیناً تسلسل سے ظاہر کرنا اور غیر بنیادی تکمل کے قیمت کے حصول میں تسلسل کا کردار دکھایا جائے گا۔ ایسے حد جو غیر معین صورت دیتے ہوں کا حل بھی سکھایا جائے گا۔ ہم $\tan^{-1} x$ کے مکلارن تسلسل کا ایک مختصر طریقہ دکھائیں گے اور بار بار استعمال ہونے والے تسلسلوں کی جدول کا ذکر کریں گے۔

طاقت اور جذر کے لئے ثنائی تسلسل

تفاعل $f(x) = (1+x)^m$ جہاں m مستقل ہے، کا مکلارن تسلسل درج ذیل ہے

$$1 + mx + \frac{m(m-1)}{2!}x^2 + \frac{m(m-1)(m-2)}{3!}x^3 + \frac{m(m-1)(m-2)\cdots(m-k+1)}{k!}x^k + \cdots \tag{۱}$$

۱۵۵۲۷ جس کو **ثنائی تسلسل**[۴۸] کہتے ہیں اور جو $|x| < 1$ کے لئے مطلق مرتکز ہے۔ یہ تسلسل حاصل کرنے کی خاطر ہم تفاعل اور اس کے تفرقات لکھتے ہیں:

$$\begin{aligned}
f(x) &= (1+x)^m \\
f'(x) &= m(1+x)^{m-1} \\
f''(x) &= m(m-1)(1+x)^{m-2} \\
f'''(x) &= m(m-1)(m-2)(m-3)(1+x)^{m-3} \\
&\vdots \\
f^{(k)}(x) &= m(m-1)(m-2)\cdots(m-k+1)(1+x)^{m-k}
\end{aligned}$$

۱۵۵۲۸ نقطہ $x = 0$ پر ان کی قیمتیں دریافت کر کے مکلارن تسلسل کے کلیہ میں پر کرتے ہوئے مساوات اکا تسلسل حاصل ہو گا۔

۱۵۵۲۹ اگر m عدد صحیح ہو جو صفر یا اس سے بڑا ہو تب $k = m+1$ عددی سر سے تمام عددی سر صفر ہوں گے لہٰذا $(m+1)$ اجزاء کے بعد یہ تسلسل
۱۵۵۳۰ رک جاتا ہے۔

۱۵۵۳۱ اگر m صفر یا مثبت عدد صحیح نہ ہو تب یہ تسلسل لامتناہی اجزاء پر مشتمل ہو گا جو $|x| < 1$ کے لئے مرتکز ہو گا۔ اس کی وجہ دیکھنے کی خاطر فرض کریں u_k
۱۵۵۳۲ وہ جزو ہے جس میں x^k پایا جاتا ہو۔ اب مطلق ارتکاز کے تناسبی پرکھ سے آپ دیکھ سکتے ہیں کہ درج ذیل ہو گا۔

$$\left|\frac{u_{k+1}}{u_k}\right| = \left|\frac{m-k}{k+1}x\right| \to |x| \qquad k \to \infty$$

۱۵۵۳۳ ثنائی تسلسل کا حصول ہمیں صرف اتنا بتاتا ہے کہ $(1+x)^m$ اس کو پیدا کرتا ہے اور $|x| < 1$ کے لئے یہ تسلسل مرتکز ہے۔ تسلسل کا حصول ہمیں یہ
۱۵۵۳۴ نہیں دکھاتا ہے کہ یہ تسلسل $(1+x)^m$ کو مرکوز ہے۔ حقیقت میں یہ تسلسل $(1+x)^m$ کو مرکوز ہے، جس کا ثبوت پیش نہیں کیا جائے گا۔

$$\begin{aligned}
(1+x)^m &= 1 + \sum_{k=1}^{\infty}\binom{m}{k}x^k, && -1 < x < 1 \\
\binom{m}{1} &= m, \quad \binom{m}{2} = \frac{m(m-1)}{2!} && \text{جہاں} \\
\binom{m}{k} &= \frac{m(m-1)(m-2)\cdots(m-k+1)}{k!} && \text{اور} \quad k \geq 3 \quad \text{کے لئے}
\end{aligned} \tag{۲}$$

۱۵۵۳۵ ہوں گے۔

---

[۴۸] binomialseries

۱۵۵۳۶ مثال ۹.۶۵: اگر $m = -1$ ہو تب

$$\binom{-1}{1} = -1, \quad \binom{-1}{2} = \frac{(-1)(-2)}{2!} = 1,$$
$$\binom{-1}{k} = \frac{(-1)(-2)(-3)\cdots(-1-k+1)}{k!} = (-1)^k\binom{k!}{k!} = (-1)^k$$

۱۵۵۳۷ ہوں گے اور مساوات ۲ درج ذیل ثنائی تسلسل دے گی۔

$$(1+x)^{-1} = 1 + \sum_{k=1}^{\infty}(-1)^k x^k = 1 - x + x^2 - x^3 + \cdots + (-1)^k x^k + \cdots$$

۱۵۵۳۸ □

۱۵۵۳۹ مثال ۹.۶۶: ہم مثال ۴.۴۰ سے جانتے ہیں کہ چھوٹے $|x|$ کے لئے $\sqrt{1+x} \approx 1 + \frac{x}{2}$ ہو گا۔ ثنائی تسلسل میں $m = \frac{1}{2}$ لیتے ہوئے دو
۱۵۵۴۰ درجی اور بلند رتبی تخمین حاصل ہوتے ہیں، اور ساتھ ہی اندازہ خلل بھی حاصل ہوتا ہے جو مسئلہ بدلتے تسلسل کا اندازہ خلل دیتا ہے:

$$\begin{aligned}(1+x)^{1/2} &= 1 + \frac{x}{2} + \frac{(\frac{1}{2})(-\frac{1}{2})}{2!}x^2 + \frac{(\frac{1}{2})(-\frac{1}{2})(-\frac{3}{2})}{3!}x^3 \\ &\qquad + \frac{(-\frac{1}{2})(-\frac{1}{2})(-\frac{3}{2})(-\frac{5}{2})}{4!}x^4 + \cdots \\ &= 1 + \frac{x}{2} - \frac{x^2}{8} + \frac{x^3}{16} - \frac{5x^4}{128} + \cdots\end{aligned}$$

۱۵۵۴۱ دیگر تخمین x کی مختلف قیمتیں پر کرتے ہوئے حاصل ہوں گی۔ مثال کے طور پر:

$$\sqrt{1-x} \approx 1 - \frac{x^2}{2} - \frac{x^4}{8} \qquad \text{چھوٹے } \left|x^2\right| \text{ کے لئے}$$
$$\sqrt{1-\frac{1}{x}} \approx 1 - \frac{1}{2x} - \frac{1}{8x^2} \qquad \text{چھوٹا } \left|\frac{1}{x}\right| \text{ یعنی بڑا } |x|$$

۱۵۵۴۲ □

۱۵۵۴۳ تفرقی مساوات کے طاقتی تسلسل حل اور ابتدائی قیمت مسائل

۱۵۵۴۴ ابتدائی قیمت مسئلے کے حل کی سادہ صورت حاصل کرنے میں ناکامی کی صورت میں ہم حل کے بارے میں معلومات دیگر طریقوں سے حاصل کرنے کی کوشش
۱۵۵۴۵ کرتے ہیں۔ ایک طریقہ ہے کہ ہم حل کی طاقتی تسلسل روپ حاصل کریں۔ اگر ہم ایسا کر پائیں تو ہمیں حل کی تخمینی کثیر رکنی حاصل ہو گی۔ حقیقت میں عموماً
۱۵۵۴۶ ہمیں یہی درکار ہوتا ہے۔ ہماری پہلی مثال (مثال ۹.۶۷) یک رتبی خطی تفرقی مساوات ہے جس کو ہم حصہ ۷.۱۱ کے تراکیب سے حل کر سکتے ہیں۔ اس مثال

میں ہم فرض کرتے ہیں کہ ہم دیے گئے تفرقی مساوات کو حل کرنا نہیں جانتے ہیں اور اس کو طاقتی تسلسل کے مدد سے حل کرتے ہیں۔ اگلی مثال (مثال ۹.۶۸) کو حصہ ۷.۱۱ کے تراکیب سے حل کرنا ممکن نہیں ہے۔

مثال ۹.۶۷: درج ذیل ابتدائی قیمت مسئلہ حل کریں۔

$$y' - y = x, \quad y(0) = 1$$

حل: ہم فرض کرتے ہیں کہ اس کے حل کا روپ درج ذیل ہے۔

$$y = a_0 + a_1 x + a_2 x^2 + \cdots + a_{n-1} x^{n-1} + a_n x^n + \cdots \tag{۳}$$

ہم عددی سروں a_k کی ایسی قیمتیں تلاش کرتے ہیں کہ یہ تسلسل اور اس کا یک رتبی تفرق

$$y' = a_1 + 2a_2 x + 3a_3 x^2 + \cdots + n a_n x^{n-1} + \cdots \tag{۴}$$

دیے گئے تفرقی مساوات اور ابتدائی شرائط کو مطمئن کرتے ہوں۔ تسلسل $y' - y$ درحقیقت مساوات ۳ اور مساوات ۴ کا فرق ہے:

$$\begin{aligned} y' - y = (a_1 - a_0) + (2a_2 - a_1)x + (3a_3 - a_2)x^2 + \cdots \\ + (n a_n - a_{n-1}) x^{n-1} + \cdots \end{aligned} \tag{۵}$$

اگر y نے $y' - y = x$ کو مطمئن کرنا ہو تب مساوات ۵ میں دیا گیا تسلسل لازماً x کے برابر ہو گا۔ چونکہ طاقتی تسلسل روپ یکتا ہوتے ہیں (جیسا آپ نے سوال ۹.۴۶۸ میں دیکھا ہو گا) لہٰذا مساوات ۵ کے عددی سر لازمی طور پر درج ذیل مساوات کو مطمئن کریں گے۔

$a_1 - a_0 = 0$	مستقل جزو
$2a_2 - a_1 = 1$	x کا عددی سر
$3a_3 - a_2 = 0$	x^2 کا عددی سر
$\vdots$	
$n a_n - a_{n-1} = 0$	x^{n-1} کا عددی سر
$\vdots$	

ہم مساوات ۳ سے یہ بھی جانتے ہیں کہ $x = 0$ پر $y = a_0$ ہو گا لہٰذا ابتدائی معلومات کو استعمال کرتے ہوئے $a_0 = 1$ ہو گا۔ ان تمام معلومات سے درج ذیل حاصل ہوتے ہیں۔

$$\begin{aligned} &a_0 = 1, \quad a_1 = a_0 = 1, \quad a_2 = \frac{1 + a_1}{2} = \frac{1+1}{2} = \frac{2}{2} \\ &a_3 = \frac{a_2}{3} = \frac{2}{3 \cdot 2} = \frac{2}{3!}, \quad \cdots, \quad a_n = \frac{a_{n-1}}{n} = \frac{2}{n!}, \quad \cdots \end{aligned}$$

۱۵۵۵۷ ان قیمتوں کو y کی مساوات (مساوات ۳) میں پر کرتے ہیں۔

$$\begin{aligned} y &= 1 + x + 2 \cdot \frac{x^2}{2!} + 2 \cdot \frac{x^3}{3!} + \cdots + 2 \cdot \frac{x^n}{n!} + \cdots \\ &= 1 + x + 2 \underbrace{\left(\frac{x^2}{2!} + \frac{x^3}{3!} + \cdots + \frac{x^n}{n!} + \cdots \right)}_{e^x - 1 - x \text{ کا مکلارن تسلسل}} \\ &= 1 + x + 2(e^x - 1 - x) = 2e^x - 1 - x \end{aligned}$$

۱۵۵۵۸ یوں ابتدائی قیمت مسئلے کا حل $y = 2e^x - 1 - x$ ہو گا۔

۱۵۵۵۹ ہم اس کو پرکھ سکتے ہیں یعنی

$$y(0) = 2e^0 - 1 - 0 = 2 - 1 = 1$$

۱۵۵۶۰ اور

$$y' - y = (2e^x - 1) - (2e^x - 1 - x) = x$$

۱۵۵۶۱ □

۱۵۵۶۲ مثال ۹.۶۸: درج ذیل کا طاقتی تسلسل حل تلاش کریں۔

$$y'' + x^2 y = 0 \tag{۶}$$

۱۵۵۶۳ حل: ہم فرض کرتے ہیں کہ اس کا حل درج ذیل روپ کا ہے۔

$$y = a_0 + a_1 x + a_2 x^2 + \cdots + a_n x^n + \cdots \tag{۷}$$

۱۵۵۶۴ ہم عددی سروں a_k کی ایسی قیمتیں تلاش کرتے ہیں کہ یہ تسلسل اور اس کا دورتبی تفرق

$$y'' = 2a_2 + 3 \cdot 2a_3 x + \cdots + n(n-1)a_n x^{n-2} + \cdots \tag{۸}$$

۱۵۵۶۵ مساوات ۶ کو مطمئن کرتے ہوں۔ $x^2 y$ کا تسلسل مساوات ۷ کو x^2 سے ضرب دے کر حاصل ہو گا:

$$x^2 y = a_0 x^2 + a_1 x^3 + a_2 x^4 + \cdots + a_n x^{n+2} + \cdots \tag{۹}$$

۱۵۵۶۶ $y'' + x^2 y$ کا تسلسل مساوات ۸ اور مساوات ۹ کا مجموعہ ہو گا:

$$\begin{aligned} y'' + x^2 y = 2a_2 + 6a_3 x + (12a_4 + a_0)x^2 + (20a_5 + a_1)x^3 \\ + \cdots + (n(n-1)a_n + a_{n-4})x^{n-2} + \cdots \end{aligned} \tag{۱۰}$$

دھیان رہے کہ مساوات ۹ میں x^{n-2} کا عددی سر a_{n-4} ہے۔ اگر y اور اس کے دوگنّا تفرق، مساوات ۶ کو مطمئن کرتے ہوں تب مساوات ۱۰ کے دائیں ہاتھ x کی ہر انفرادی طاقت کا عددی سر صفر ہو گا:

$$2a_2 = 0, \quad 6a_3 = 0, \quad 12a_4 + a_0 = 0, \quad 20a_5 + a_1 = 0 \tag{۱۱}$$

اور تمام $n \geq 4$ کے لئے درج ذیل ہو گا۔

$$n(n-1)a_n + a_{n-4} = 0 \tag{۱۲}$$

ہم مساوات ۷ سے

$$a_0 = y(0), \quad a_1 = y'(0)$$

حاصل کرتے ہیں یعنی ابتدائی دو عددی سر، $x = 0$ پر بالترتیب y اور y' کی قیمتیں ہیں۔ مساوات ۱۱ اور کلیہ توالی (مساوات ۱۲) کی مدد سے ہم باقی تمام عددی سر معلوم کر سکتے ہیں۔ مساوات ۱۱ کے پہلے دو درج ذیل دیتے ہیں۔

$$a_2 = 0, \quad a_3 = 0$$

مساوات ۱۲ کہتی ہے کہ $a_{n-4} = 0$ کی صورت میں $a_n = 0$ ہو گا۔ نتیجتاً

$$a_6 = 0, \quad a_7 = 0, \quad a_{10} = 0, \quad a_{11} = 0$$

ہوں گے اور جب بھی $n = 4k+2$ یا $4k+3$ ہو، a_n صفر ہو گا۔ باقی عددی سروں کے لئے

$$a_n = \frac{-a_{n-4}}{n(n-1)}$$

ہو گا جس سے

$$a_4 = \frac{-a_0}{4\cdot 3}, \quad a_8 = \frac{-a_4}{8\cdot 7} = \frac{a_0}{3\cdot 4\cdot 7\cdot 8},$$
$$a_{12} = \frac{-a_8}{11\cdot 12} = \frac{-a_0}{3\cdot 4\cdot 7\cdot 8\cdot 11\cdot 12}$$

اور

$$a_5 = \frac{-a_1}{5\cdot 4}, \quad a_9 = \frac{-a_5}{9\cdot 8} = \frac{a_1}{4\cdot 5\cdot 8\cdot 9}$$
$$a_{13} = \frac{-a_9}{12\cdot 13} = \frac{-a_1}{4\cdot 5\cdot 8\cdot 9\cdot 12\cdot 13}$$

جواب کو دو علیحدہ تسلسلوں کے روپ میں لکھنا زیادہ مفید ثابت ہوتا ہے

$$\begin{aligned} y =& a_0\left(1 - \frac{x^4}{3\cdot 4} + \frac{x^8}{3\cdot 4\cdot 7\cdot 8} - \frac{x^{12}}{3\cdot 4\cdot 7\cdot 8\cdot 11\cdot 12} + \cdots\right) \\ &+ a_1\left(x - \frac{x^5}{4\cdot 5} + \frac{x^9}{4\cdot 5\cdot 8\cdot 9} - \frac{x^{13}}{4\cdot 5\cdot 8\cdot 9\cdot 12\cdot 13} + \cdots\right) \end{aligned}$$

جہاں پہلا تسلسل a_0 سے ضرب اور دوسرا تسلسل a_1 سے ضرب ہوا ہے۔ جیسا تناسبی پرکھ سے ظاہر ہے، دونوں تسلسل تمام x کے لئے مطلق مرتکز ہیں۔ □

۱۵۵۸۰ **غیر بنیادی تکمل کی قیمت کا حصول**

۱۵۵۸۱ غیر بنیادی تکمل کو مکلارن تسلسل کی مدد سے تسلسل کی صورت میں لکھا جا سکتا ہے۔

۱۵۵۸۲ مثال ۹.۶۹: انکسار شعاع میں $\int \sin x^2 \, \mathrm{d}x$ طرز کے تکمل پائے جاتے ہیں۔ اس کو طاقتی تسلسل کی صورت میں لکھیں۔

۱۵۵۸۳ حل: $\sin x$ کے تسلسل میں x کی جگہ x^2 پر کرتے ہوئے

$$\sin x^2 = x^2 - \frac{x^6}{3!} + \frac{x^{10}}{5!} - \frac{x^{14}}{7!} + \frac{x^{18}}{9!} - \cdots$$

۱۵۵۸۴ لکھا جا سکتا ہے لہٰذا درج ذیل ہو گا۔

$$\int \sin x^2 \, \mathrm{d}x = C + \frac{x^3}{3} - \frac{x^7}{7 \cdot 3!} + \frac{x^{11}}{11 \cdot 5!} - \frac{x^{15}}{15 \cdot 7!} + \frac{x^{19}}{19 \cdot 9!} - \cdots$$

۱۵۵۸۵ □

۱۵۵۸۶ مثال ۹.۷۰: تکمل $\int_0^1 \sin x^2 \, \mathrm{d}x$ کی قیمت 0.001 سے کم خلل کے ساتھ دریافت کریں۔

۱۵۵۸۷ حل: یہ بدلتا تسلسل ہے اور ہم تجربہ سے دیکھتے ہیں کہ

$$\frac{1}{11 \cdot 5!} \approx 0.000\,76$$

۱۵۵۸۸ وہ پہلا جزو ہے جس کی قیمت 0.001 سے کم ہے۔ اس سے قبل دو اجزاء کا مجموعہ

$$\int_0^1 \sin x^2 \, \mathrm{d}x \approx \frac{1}{3} - \frac{1}{42} \approx 0.310$$

۱۵۵۸۹ ہے۔ ہم مزید دو اجزاء شامل کرتے ہوئے

$$\int_0^1 \sin x^2 \, \mathrm{d}x \approx 0.310\,268$$

۱۵۵۹۰ اندازہ حاصل کر سکتے ہیں جس میں خلل تقریباً 10^{-6} ہے۔ اس کے بعد صرف ایک اضافی جزو کی شمولیت سے

$$\int_0^1 \sin x^2 \, \mathrm{d}x \approx \frac{1}{3} - \frac{1}{42} + \frac{1}{1320} - \frac{1}{75600} + \frac{1}{6894720} \approx 0.310\,268\,303$$

۱۵۵۹۱ حاصل ہوتا ہے جس میں خلل 1.08×10^{-9} سے کم ہے۔ □

الٹ ٹینجنٹ

ہم مثال ۹.۵۱ میں $\tan^{-1} x$ کا تسلسل تلاش کر چکے ہیں جہاں تفرق سے

$$\frac{\mathrm{d}}{\mathrm{d}x} \tan^{-1} x = \frac{1}{1+x^2} = 1 - x^2 + x^4 - x^6 + \cdots$$

اور تکمل سے

$$\tan^{-1} x = x - \frac{x^3}{3} + \frac{x^5}{5} - \frac{x^7}{7} + \cdots$$

حاصل ہوئے۔ البتہ ہم نے مسئلہ جزو در جزو تکمل کا ثبوت پیش نہیں کیا ہے جس پر یہ نتائج منحصر ہیں۔ ہم اب متناہی کلیہ

$$\frac{1}{1+t^2} = 1 - t^2 + t^4 - t^6 + \cdot + (-1)^n t^{2n} + \frac{(-1)^{n+1} t^{2n+2}}{1+t^2} \tag{۱۳}$$

کے دونوں اطراف کا تکمل لے کر اسی تسلسل کو دوبارہ حاصل کرتے ہیں، جہاں آخری جزو تسلسل کا باقی ہے جس کو بطور ثنائی تسلسل جمع کیا گیا ہے اور اس ثنائی تسلسل کا ابتدائی جزو $a = (-1)^{n+1} t^{2n+2}$ اور تناسب $r = -t^2$ ہیں۔ مساوات ۱۳ کے دونوں اطراف کا تکمل $t = 0$ تا $t = x$ لے کر

$$\tan^{-1} x = x - \frac{x^3}{3} + \frac{x^5}{5} - \frac{x^7}{7} + \cdots + (-1)^n \frac{x^{2n+1}}{2n+1} + R(n,x)$$

حاصل ہو گا جہاں

$$R(n,x) = \int_0^x \frac{(-1)^{n+1} t^{2n+2}}{1+t^2}\, \mathrm{d}t$$

ہے۔ تکمل کا نسب نما 1 کے برابر یا اس سے بڑا ہے لہٰذا درج ذیل ہو گا۔

$$\left|R(n,x)\right| \le \int_0^{|x|} t^{2n+2}\, \mathrm{d}t = \frac{|x|^{2n+3}}{2n+3}$$

اگر $|x| \le 1$ ہو تب اس عدم مساوات کا دایاں ہاتھ $n \to \infty$ کرتے ہوئے صفر تک پہنچتا ہے۔ یوں $|x| \le 1$ کے لئے $\lim_{n\to\infty} R(n,x) = 0$ اور

$$\tan^{-1} x = \sum_{n=0}^{\infty} \frac{(-1)^n x^{2n+1}}{2n+1} \qquad |x| \le 1$$

ہوں گے۔ اس طرح درج ذیل حاصل ہو گا۔

$$\tan^{-1} x = x - \frac{x^3}{3} + \frac{x^5}{5} - \frac{x^7}{7} + \cdots \qquad |x| \le 1 \tag{۱۴}$$

ہم $\tan^{-1} x$ کا مکلارن تسلسل بلاواسطہ اس لئے دریافت نہیں کرتے ہیں کہ $\tan^{-1} x$ کے بلند رتبی تفرقات کے کلیات پیچیدہ ہوتے ہیں۔ مذکورہ بالا طریقہ زیادہ آسان ہے۔

مساوات ۱۴ میں $x = 1$ پر کرنے سے

$$\frac{\pi}{4} = 1 - \frac{1}{3} + \frac{1}{5} - \frac{1}{7} + \frac{1}{9} - \cdots + \frac{(-1)^n}{2n+1} + \cdots$$

حاصل ہوتا ہے جسے **کلیہ لیبنٹز**[۴۹] کہتے ہیں۔ یہ تسلسل بہت آہستہ مرکوز ہے لہٰذا یہ π کی قیمت حاصل کرنے کے لئے زیادہ مفید ثابت نہیں ہوتا ہے۔ π کے حصول کے لئے اس سے بہتر کلیات استعمال کیے جاتے ہیں مثلاً

$$\pi = 48 \tan^{-1} \frac{1}{18} + 32 \tan^{-1} \frac{1}{57} - 20 \tan^{-1} \frac{1}{239}$$

جو 0 کے قریب x کی قیمتیں استعمال کرتا ہے۔

غیر معین روپ کی قیمت کا حصول

بعض اوقات غیر معین روپ کے تفاعل کو ٹیلر تسلسل کی صورت میں لکھ کر ان کی قیمت تلاش کرنا ممکن ہوتا ہے۔

مثال ۹.۷۱: غیر معین روپ $\lim_{x\to 1} \frac{\ln x}{x-1}$ کی قیمت تلاش کریں۔

حل: ہم $\ln x$ کو $x - 1$ کی طاقت کا ٹیلر تسلسل لکھتے ہیں۔ نقطہ $x = 1$ پر بلاواسطہ $\ln x$ کا ٹیلر تسلسل تلاش کر کے یا $\ln x$ کے تسلسل (مثال ۹.۵۲) میں x کی جگہ $x - 1$ پر کرتے ہوئے ایسا تسلسل حاصل کیا جا سکتا ہے۔ دونوں طریقوں سے

$$\ln x = (x-1) - \frac{1}{2}(x-1)^2 + \cdots$$

حاصل ہوگا جس کو استعمال کرتے ہوئے درج ذیل ملتا ہے۔

$$\lim_{x\to 1} \frac{\ln x}{x-1} = \lim_{x\to 1} \left(1 - \frac{1}{2}(x-1) + \cdots\right) = 1$$

□

مثال ۹.۷۲: $\lim_{x\to 0} \frac{\sin x - \tan x}{x^3}$ کی قیمت تلاش کریں۔

حل: جزو x^5 تک $\sin x$ اور $\tan x$ کے مکلارن تسلسل

$$\sin x = x - \frac{x^3}{3!} + \frac{x^5}{5!} - \cdots \qquad \tan x = x + \frac{x^3}{3} + \frac{2x^5}{15} + \cdots$$

---

[۴۹] Leibniz'sformula

۱۵۶۱۹ ہیں۔یوں

$$\sin x - \tan x = -\frac{x^3}{2} - \frac{x^5}{8} - \cdots = x^3\Big(-\frac{1}{2} - \frac{x^2}{8} - \cdots\Big)$$

۱۵۶۲۰ اور

$$\begin{aligned}\lim_{x\to 0}\frac{\sin x - \tan x}{x^3} &= \lim_{x\to 0}\Big(-\frac{1}{2} - \frac{x^2}{8} - \cdots\Big)\\ &= -\frac{1}{2}\end{aligned}$$

۱۵۶۲۱ ہو گا۔ □

۱۵۶۲۲ ہم تسلسل استعمال کر کے نا صرف $\lim_{x\to 0}(\frac{1}{\sin x} - \frac{1}{x})$ کی قیمت تلاش کر پاتے ہیں بلکہ اس عمل میں $\csc x$ کا تخمینی کلیہ بھی حاصل کرتے
۱۵۶۲۳ ہیں۔

۱۵۶۲۴ مثال ۹.۷۳: $\lim_{x\to 0}(\frac{1}{\sin x} - \frac{1}{x})$ تلاش کریں۔

۱۵۶۲۵ حل:

$$\begin{aligned}\frac{1}{\sin x} - \frac{1}{x} = \frac{x - \sin x}{x\sin x} &= \frac{x - (x - \frac{x^3}{3!} + \frac{x^5}{5!} - \cdots)}{x\cdot(x - \frac{x^3}{3!} + \frac{x^5}{5!} - \cdots)}\\ &= \frac{x^3(\frac{1}{3!} - \frac{x^2}{5!} + \cdots)}{x^2(1 - \frac{x^2}{3!} + \cdots)} = x\frac{\frac{1}{3!} - \frac{x^2}{5!} + \cdots}{1 - \frac{x^2}{3!} + \cdots}\end{aligned}$$

۱۵۶۲۶ لہٰذا

$$\lim_{x\to 0}\Big(\frac{1}{\sin x} - \frac{1}{x}\Big) = \lim_{x\to 0}\left(x\frac{\frac{1}{3!} - \frac{x^2}{5!} + \cdots}{1 - \frac{x^2}{3!} + \cdots}\right) = 0$$

۱۵۶۲۷ ہو گا۔

۱۵۶۲۸ ہم چھوٹے $|x|$ کے لئے درج ذیل لکھ سکتے ہیں۔

$$\frac{1}{\sin x} - \frac{1}{x} = x\frac{\frac{1}{3!} - \frac{x^2}{5!} + \cdots}{1 - \frac{x^2}{3!} + \cdots} \approx x\cdot\frac{1}{3!} = \frac{x}{6} \qquad \Longrightarrow \qquad \csc x \approx \frac{1}{x} + \frac{x}{6}$$

۱۵۶۲۹ □

۱۵۷۳۰ عموماً مستعمل مکلارن تسلسل

$$\frac{1}{1-x} = 1 + x + x^2 + \cdots + x^n + \cdots = \sum_{n=0}^{\infty} x^n, \quad |x| < 1$$

$$\frac{1}{1+x} = 1 - x + x^2 - \cdots + (-x)^n + \cdots = \sum_{n=0}^{\infty} (-1)^n x^n, \quad |x| < 1$$

$$e^x = 1 + x + \frac{x^2}{2!} + \cdots + \frac{x^n}{n!} + \cdots = \sum_{n=0}^{\infty} \frac{x^n}{n!}, \quad |x| < \infty$$

$$\sin x = x - \frac{x^3}{3!} + \frac{x^5}{5!} - \cdots + (-1)^n \frac{x^{2n+1}}{(2n+1)!} + \cdots = \sum_{n=0}^{\infty} \frac{(-1)^n x^{2n+1}}{(2n+1)!}, \quad |x| < \infty$$

$$\cos x = 1 - \frac{x^2}{2!} + \frac{x^4}{4!} - \cdots + (-1)^n \frac{x^{2n}}{(2n)!} + \cdots = \sum_{n=0}^{\infty} \frac{(-1)^n x^{2n}}{(2n)!}, \quad |x| < \infty$$

$$\ln(1+x) = x - \frac{x^2}{2} + \frac{x^3}{3} - \cdots + (-1)^{n-1} \frac{x^n}{n} + \cdots = \sum_{n=1}^{\infty} \frac{(-1)^{n-1} x^n}{n}, \quad -1 < x \leq 1$$

$$\ln \frac{1+x}{1-x} = 2 \tanh^{-1} x = 2\left(x + \frac{x^3}{3} + \frac{x^5}{5} + \cdots + \frac{x^{2n+1}}{2n+1} + \cdots\right) = 2 \sum_{n=0}^{\infty} \frac{x^{2n+1}}{2n+1}, \quad |x| < 1$$

$$\tan^{-1} x = x - \frac{x^3}{3} + \frac{x^5}{5} - \cdots + (-1)^n \frac{x^{2n+1}}{2n+1} + \cdots = \sum_{n=0}^{\infty} \frac{(-1)^n x^{2n+1}}{2n+1}, \quad |x| \leq 1$$

۱۵۷۳۱ ثنائی تسلسل

$$\begin{aligned}(1+x)^m &= 1 + mx + \frac{m(m-1)x^2}{2!} + \frac{m(m-1)(m-2)x^3}{3!} + \cdots \\ &\qquad + \frac{m(m-1)(m-2)\cdots(m-k+1)x^k}{k!} + \cdots \\ &= 1 + \sum_{k=1}^{\infty} \binom{m}{k} x^k, \quad |x| < 1\end{aligned}$$

۱۵۷۳۲ جہاں

$$\binom{m}{1} = m, \quad \binom{m}{2} = \frac{m(m-1)}{2!}, \quad \binom{m}{k} = \frac{m(m-1)\cdots(m-k+1)}{k!} \quad k \geq 3 \text{ کے لئے}$$

۱۵۷۳۳ ہیں۔

ثنائی تسلسل لکھتے ہوئے ہم $\binom{m}{0}$ کی تعریف 1 لیتے ہیں اور (اگر $x = 0$ ہو تب بھی) $x^0 = 1$ لیتے ہیں۔ یوں $(1+x)^m = \sum_{k=0}^{\infty} \binom{m}{k} x^k$ لکھا جاتا ہے۔ مثبت کے لئے تسلسل x^m پر ختم ہوتا ہے اور تمام x کے لئے مرتکز ہوتا ہے۔

سوالات

ثنائی تسلسل

سوال ۹.۵۷۲ تا سوال ۹.۵۸۱ میں دیے تفاعل کے ثنائی تسلسل کے ابتدائی چار اجزاء تلاش کریں۔

سوال ۹.۵۷۲: $(1+x)^{1/2}$

سوال ۹.۵۷۳: $(1+x)^{1/3}$

سوال ۹.۵۷۴: $(1-x)^{-1/2}$

سوال ۹.۵۷۵: $(1-2x)^{1/2}$

سوال ۹.۵۷۶: $(1+\frac{x}{2})^{-2}$

سوال ۹.۵۷۷: $(1-\frac{x}{2})^{-2}$

سوال ۹.۵۷۸: $(1+x^3)^{-1/2}$

سوال ۹.۵۷۹: $(1+x^2)^{-1/3}$

سوال ۹.۵۸۰: $(1+\frac{1}{x})^{1/2}$

سوال ۹.۵۸۱: $(1-\frac{2}{x})^{1/3}$

سوال ۹.۵۸۲ تا سوال ۹.۵۸۵ میں تفاعل کے ثنائی تسلسل تلاش کریں۔

سوال ۹.۵۸۲: $(1+x)^4$

سوال ۹.۵۸۳: $(1+x^2)^3$

سوال ۹.۵۸۴: $(1-2x)^3$

سوال ۹.۵۸۵: $(1-\frac{x}{2})^4$

ابتدائی قیمت مسائل

سوال ۹.۵۸۶ تا سوال ۹.۶۰۳ میں ابتدائی قیمت مسئلے کے تسلسل حل تلاش کریں۔

سوال ۹.۵۸۶: $y' + y = 0, \quad y(0) = 1$

سوال ۹.۵۸۷: $y' - 2y = 0, \quad y(0) = 1$

سوال ۹.۵۸۸: $y' - y = 1, \quad y(0) = 0$

سوال ۹.۵۸۹: $y' + y = 1, \quad y(0) = 2$

سوال ۹.۵۹۰: $y' - y = x, \quad y(0) = 0$

سوال ۹.۵۹۱: $y' + y = 2x, \quad y(0) = -1$

سوال ۹.۵۹۲: $y' - xy = 0, \quad y(0) = 1$

سوال ۹.۵۹۳: $y' - x^2y = 0, \quad y(0) = 1$

سوال ۹.۵۹۴: $(1 - x)y' - y = 0, \quad y(0) = 2$

سوال ۹.۵۹۵: $(1 + x^2)y' + 2xy = 0, \quad y(0) = 3$

سوال ۹.۵۹۶: $y'' - y = 0, \quad y'(0) = 1, \quad y(0) = 0$

سوال ۹.۵۹۷: $y'' + y = 0, \quad y'(0) = 0, \quad y(0) = 1$

سوال ۹.۵۹۸: $y'' + y = x, \quad y'(0) = 1, \quad y(0) = 2$

سوال ۹.۵۹۹: $y'' - y = x, \quad y'(0) = 2, \quad y(0) = -1$

سوال ۹.۶۰۰: $y'' - y = -x, \quad y'(2) = -2, \quad y(2) = 0$

سوال ۹.۶۰۱: $y'' - x^2y = 0, \quad y'(0) = b, \quad y(0) = a$

سوال ۹.۶۰۲: $y'' + x^2y = x, \quad y'(0) = b, \quad y(0) = a$

سوال ۹.۶۰۳: $y'' - 2y' + y = 0, \quad y'(0) = 1, \quad y(0) = 0$

تخمینے اور غیر بنیادی تکمل

سوال ۹.۶۰۴ تا سوال ۹.۶۰۷ میں تسلسل استعمال کرتے ہوئے، خلل کو 10^{-3} کم رکھتے ہوئے تکمل کی قیمت کا اندازہ لگائیں۔ (جوابات 5 اعشاریہ تک دکھائے گئے ہیں۔)

سوال ۹.۶۰۴: $\int_0^{0.2} \sin x^2 \, \mathrm{d}x$

سوال ۹.۶۰۵: $\int_0^{0.2} \frac{e^{-x}-1}{x} \, \mathrm{d}x$

سوال ۹.۶۰۶: $\int_0^{0.1} \frac{1}{\sqrt{1+x^4}} \, \mathrm{d}x$

سوال ۹.۶۰۷: $\int_0^{0.25} \sqrt[3]{1 + x^2} \, \mathrm{d}x$

سوال ۹.۶۰۸ تا سوال ۹.۶۱۱ میں تسلسل استعمال کرتے ہوئے، خلل کو 10^{-8} کم رکھتے ہوئے تکمل کی قیمت کا اندازہ لگائیں۔ (جوابات 10 اعشاریہ تک دکھائے گئے ہیں۔)

۱۵۶۸۷ سوال ۹.۶۰۸: $\int_0^{0.1} \frac{\sin x}{x}\,\mathrm{d}x$

۱۵۶۸۸ سوال ۹.۶۰۹: $\int_0^{0.1} e^{-x^2}\,\mathrm{d}x$

۱۵۶۸۹ سوال ۹.۶۱۰: $\int_0^{0.1} \sqrt{1+x^4}\,\mathrm{d}x$

۱۵۶۹۰ سوال ۹.۶۱۱: $\int_0^{1} \frac{1-\cos x}{x^2}\,\mathrm{d}x$

۱۵۶۹۱ سوال ۹.۶۱۲: تکمل $\int_0^1 \cos t^2\,\mathrm{d}t$ میں $\cos t^2$ کو تخمیناً $1-\frac{t^4}{2}+\frac{t^8}{4!}$ سے ظاہر کرتے ہوئے پیدا خلل کا اندازہ لگائیں۔

۱۵۶۹۲ سوال ۹.۶۱۳: تکمل $\int_0^t \cos\sqrt{t}\,\mathrm{d}t$ میں $\cos\sqrt{t}$ کو تخمیناً $1-\frac{t}{2}+\frac{t^2}{4!}-\frac{t^3}{6!}$ سے ظاہر کرتے ہوئے پیدا خلل کا اندازہ لگائیں۔

۱۵۶۹۳

۱۵۶۹۴ سوال ۹.۶۱۴ تا سوال ۹.۶۱۷ میں ایسا کثیر رکنی تلاش کریں جو خلل کو 10^{-3} سے کم رکھتے ہوئے پورے وقفہ پر $F(x)$ کو ظاہر کرتا ہو۔

۱۵۶۹۵ سوال ۹.۶۱۴: $F(x)=\int_0^x \sin t^2\,\mathrm{d}t, \quad [0,1]$

۱۵۶۹۶ سوال ۹.۶۱۵: $F(x)=\int_0^x t^2 e^{-t^2}\,\mathrm{d}t, \quad [0,1]$

۱۵۶۹۷ سوال ۹.۶۱۶: (الف) $[0,0.5]$ (ب) $[0,1]$ $F(x)=\int_0^x \tan^{-1} t\,\mathrm{d}t,$

۱۵۶۹۸ سوال ۹.۶۱۷: (الف) $[0,0.5]$ (ب) $[0,1]$ $F(x)=\int_0^x \frac{\ln(1+t)}{t}\,\mathrm{d}t,$

۱۵۶۹۹ **غیر معین روپے**

۱۵۷۰۰ سوال ۹.۶۱۸ تا سوال ۹.۶۲۷ میں تسلسل استعمال کرتے ہوئے حد تلاش کریں۔

۱۵۷۰۱ سوال ۹.۶۱۸: $\lim_{x\to 0} \frac{e^x-(1+x)}{x^2}$

۱۵۷۰۲ سوال ۹.۶۱۹: $\lim_{x\to 0} \frac{e^x-e^{-x}}{x}$

۱۵۷۰۳ سوال ۹.۶۲۰: $\lim_{t\to 0} \frac{1-\cos t-t^2/2}{t^4}$

۱۵۷۰۴ سوال ۹.۶۲۱: $\lim_{\theta\to 0} \frac{\sin\theta-\theta+\theta^3/6}{\theta^5}$

۱۵۷۰۵ سوال ۹.۶۲۲: $\lim_{y\to 0} \frac{y-\tan^{-1} y}{y^3}$

۱۵۷۰۶ سوال ۹.۶۲۳: $\lim_{y\to 0} \frac{\tan^{-1} y-\sin y}{y^3\cos y}$

۱۵۷۰۷ سوال ۹.۶۲۴: $\lim_{x\to\infty} x^2(e^{-1/x^2}-1)$

۱۵۷۰۸ سوال ۹.۶۲۵: $\lim_{x\to\infty} (x+1)\sin\frac{1}{x+1}$

سوال ۹.۶۲۶: $\lim_{x\to 0} \frac{\ln(1+x^2)}{1-\cos x}$

سوال ۹.۶۲۷: $\lim_{x\to 2} \frac{x^2-4}{\ln(x-1)}$

نظریہ اور مثالیں

سوال ۹.۶۲۸: تفاعل $\ln(1+x)$ کے مکلارن تسلسل میں x کی جگہ $-x$ پر کرتے ہوئے $\ln(1-x)$ کا مکلارن تسلسل حاصل کریں۔ اس تسلسل کو اب $\ln(1+x)$ کے تسلسل سے منفی کرتے ہوئے $|x| < 1$ کے لئے درج ذیل دکھائیں۔

$$\ln \frac{1+x}{1-x} = 2\left(x + \frac{x^3}{2} + \frac{x^5}{5} + \cdots\right)$$

سوال ۹.۶۲۹: خلل کی مقدار کو 10^{-8} سے کم رکھتے ہوئے $\ln(1.1)$ کی قیمت حاصل کرنے کے لئے $\ln(1+x)$ کے مکلارن تسلسل کے کتنے اجزاء کا مجموعہ لینا ہو گا؟ اپنے جواب کی وجہ پیش کریں۔

سوال ۹.۶۳۰: خلل کی مقدار کو 10^{-3} سے کم رکھتے ہوئے $\frac{\pi}{4}$ کی قیمت حاصل کرنے کے لئے مسئلہ بدلتے تسلسل کا اندازہ کے تحت $\tan^{-1}(1)$ کے مکلارن تسلسل کے کتنے اجزاء کا مجموعہ لینا ہو گا؟ اپنے جواب کی وجہ پیش کریں۔

سوال ۹.۶۳۱: دکھائیں کہ $|x| > 1$ کے لئے $f(x) = \tan^{-1} x$ کا مکلارن تسلسل منفرج ہے۔

سوال ۹.۶۳۲: خلل کی مقدار کو 10^{-6} رکھنے کے لئے درج ذیل مساوات کے دائیں ہاتھ میں ہر $\tan^{-1} x$ کے مکلارن تسلسل کے کتنے اجزاء کا مجموعہ لینا ہو گا؟

$$\pi = 48\tan^{-1}\frac{1}{18} + 32\tan^{-1}\frac{1}{57} - 20\tan^{-1}\frac{1}{239}$$

اس کے برعکس $\sum_{n=1}^{\infty} \frac{1}{n^2}$ اتنا ست $\frac{\pi^2}{6}$ کو مرکوز ہے کہ 50 اجزاء کا مجموعہ لینے سے بھی دو اعشاریہ درست نتیجہ حاصل نہیں ہوتا ہے۔

سوال ۹.۶۳۳: تفاعل $\tan t$ کے مکلارن تسلسل کے ابتدائی تین غیر صفر اجزاء کا تکمل 0 تا x لیتے ہوئے $\ln \sec x$ کی مکلارن کے تسلسل کے ابتدائی تین غیر صفر اجزاء حاصل کریں۔

سوال ۹.۶۳۴: (الف) ثنائی تسلسل اور

$$\frac{\mathrm{d}}{\mathrm{d}x}\sin^{-1} x = (1-x^2)^{-1/2}$$

استعمال کرتے ہوئے $\sin^{-1} x$ کے مکلارن تسلسل کے ابتدائی چار غیر صفر اجزاء تلاش کریں۔ رداس ارتکاز کتنا ہو گا؟ (ب) تفاعل $\cos^{-1} x$ کے مکلارن تسلسل کے ابتدائی پانچ غیر صفر اجزاء کو اس سوال کے جزو-الف کی مدد سے تلاش کریں۔

سوال ۹.۶۳۵: (الف) درج ذیل کے مکلارن تسلسل کے ابتدائی غیر صفر چار اجزاء تلاش کریں۔

$$\sinh^{-1} x = \int_0^x \frac{\mathrm{d}t}{\sqrt{1+t^2}}$$

۱۵۷۲۹ (ب) حاصل کردہ تسلسل کے ابتدائی تین اجزاء استعمال کرتے ہوئے $\sinh^{-1} 0.25$ کی قیمت کا اندازہ لگائیں۔ خلل کی مقدار کی بالائی حد تلاش کریں۔

۱۵۷۳۰ سوال ۹.۶۳۶: تفاعل $\frac{-1}{1+x}$ کے مکلارن تسلسل سے $\frac{1}{(1+x)^2}$ کا مکلارن تسلسل حاصل کریں۔

۱۵۷۳۱ سوال ۹.۶۳۷: تفاعل $\frac{1}{1-x^2}$ کے مکلارن تسلسل سے $\frac{2x}{(1-x^2)^2}$ کا مکلارن تسلسل حاصل کریں۔

۱۵۷۳۲ سوال ۹.۶۳۸: انگلستانی ریاضی دان جان والس نے درج ذیل کلیہ اخذ کیا۔

$$\frac{\pi}{4} = \frac{2\cdot 4\cdot 4\cdot 6\cdot 6\cdot 8\cdot\cdots}{3\cdot 3\cdot 5\cdot 5\cdot 7\cdot 7\cdot\cdots}$$

۱۵۷۳۳ کمپیوٹر استعمال کر کے اس کلیہ سے π کی قیمت 2 اعشاریہ درست تلاش کریں۔

۱۵۷۳۴ سوال ۹.۶۳۹: قدرتی لوگارتھم $\ln n$ کا جدول $n = 1, 2, 3, \cdots, 10$ کے لئے سوال ۹.۶۲۸ کے کلیہ سے حاصل کریں۔ ایسا کرتے ہوئے
۱۵۷۳۵ تعلقات $\ln 4 = 2\ln 2$ ، $\ln 6 = \ln 2 + \ln 3$ ، $\ln 8 = 3\ln 2$ ، $\ln 9 = 2\ln 3$ اور $\ln 10 = \ln 2 +$
۱۵۷۳۶ $\ln 5$ بروئے کار لائیں تاکہ کم سے کم لوگارتھمی قیمتوں کا استعمال ہو۔ سوال ۹.۶۲۸ میں x کے درج ذیل قیمتوں سے شروع کریں۔

$$\frac{1}{3}, \frac{1}{5}, \frac{1}{9}, \frac{1}{13}$$

۱۵۷۳۷ سوال ۹.۶۴۰: تفاعل $(1-x^2)^{-1/2}$ کے ثنائی تسلسل کا تکمل لے کر $|x| < 1$ کے لئے درج ذیل دکھائیں۔

$$\sin^{-1} x = x + \sum_{n=1}^{\infty} \frac{1\cdot 3\cdot 5\cdot\cdots\cdot(2n-1)}{2\cdot 4\cdot 6\cdot\cdots\cdot(2n)} \frac{x^{2n+1}}{2n+1}$$

۱۵۷۳۸ سوال ۹.۶۴۱: درج ذیل تسلسل کا پہلا تکمل

$$\frac{1}{1+t^2} = \frac{1}{t^2}\cdot\frac{1}{1+1/t^2} = \frac{1}{t^2} - \frac{1}{t^4} + \frac{1}{t^6} - \frac{1}{t^8} + \cdots$$

۱۵۷۳۹ x تا ∞ لے کر اور دوسرا تکمل $-\infty$ تا x لے کر بالترتیب درج ذیل تسلسل حاصل کریں۔

$$\tan^{-1} x = \frac{\pi}{2} - \frac{1}{x} + \frac{1}{3x^3} - \frac{1}{5x^5} + \cdots \qquad x > 1$$
$$\tan^{-1} x = -\frac{\pi}{2} - \frac{1}{x} + \frac{1}{3x^3} - \frac{1}{5x^5} + \cdots \qquad x < -1$$

۱۵۷۴۰ سوال ۹.۶۴۲: دو زاویوں کے فرق کے ٹینجنٹ کا کلیہ استعمال کرتے ہوئے درج ذیل کلیہ اخذ کریں۔

$$\tan(\tan^{-1}(n+1) - \tan^{-1}(n-1)) = \frac{2}{n^2}$$

۱۵۷۴۱

۱۵۷۴۲

باب ۱۰

مخروطی حصے، منحنی مقدار معلوم اور قطبی محدد

جائزہ

حرکت پر غور احصاء کی مدد سے کیا جا سکتا ہے۔ اس حصہ میں ہم وقت کے ساتھ ایک ذرے کے بدلتے مقام پر غور کریں گے۔ ہم مخروطی حصوں کی مساوات سے شروع کرتے ہیں چونکہ بالعکس مربع قوت کی وجہ سے سیارے، مصنوعی سیارے، اور دیگر اجسام مخروطی راہ پر حرکت کرتے ہیں۔ جیسا ہم باب ۱۲ میں دیکھیں گے، اگر ہمیں معلوم ہو کہ ایک جسم مخروطی راہ پر حرکت کر رہا ہے تب ہم اس کی رفتار اور اس پر عمل کرنے والی قوت دریافت کر سکتے ہیں۔ قطبی محدد سیاروں کی حرکت پر غور کو بہت آسان بناتا ہے لہٰذا ہم اس نئے محدد میں منحنیات، تفرق اور تکمل پر بھی غور کریں گے۔

۱۰.۱ مخروطی حصے اور دو قدری مساواتیں

اس حصہ میں دکھایا جائے گا کہ مخروطی حصوں کو کس طرح محددی سطح پر بطور دو قدری مساوات پیش کیا جاتا ہے۔ دوہرے مخروط کو سطح سے کاٹ کر مخروطی منحنیات پیدا کی جاتی ہیں اور اسی کی وجہ سے مخروطی حصہ کی اصطلاح پیدا ہوئی۔

دائرہ

تعریف: ایک مستوی میں رہتے ہوئے اس مستوی میں کسی مقررہ نقطہ سے مستقل فاصلے پر تمام نقطوں کے سلسلہ کو **دائرہ**[1] کہتے ہیں۔ اس مقررہ نقطہ کو دائرے کا **مرکز**[2] کہتے ہیں جبکہ اس مستقل فاصلہ کو **رداس**[3] کہتے ہیں۔

□

---

[1] circle
[2] center
[3] radius

دائرے کے معیاری مساوات جنہیں حصہ ۱.۴ میں فاصلہ کی مساوات $d = \sqrt{(x_2-x_1)^2+(y_2-y_1)^2}$ سے اخذ کیا گیا درج ذیل ہیں۔

$$x^2+y^2=a^2 \qquad \text{رداس } a \text{ اور مرکز } (0,0)$$
$$(x-h)^2+(y-k)^2=a^2 \qquad \text{رداس } a \text{ اور مرکز } (h,k)$$

قطع مکافی

تعریف: ایک سطح میں رہتے ہوئے کسی مقررہ سیدھی لکیر اور مقررہ نقطہ (جو اس مقررہ سیدھی لکیر پر نہیں پایا جاتا ہو) سے مستقل فاصلہ پر پائے جانے والے تمام نقطوں کے سلسلہ کو **قطع مکافی**[۴] کہتے ہیں۔ مقررہ نقطے کو قطع مکافی کا[۵] کہتے ہیں جبکہ مقررہ لکیر کو **ناظمہ**[۶] کہتے ہیں۔

□

جب ماسکہ کسی محددی محور پر ہو اور ناظمہ اس محددی محور کے متوازی ہو تب قطع مکافی کی مساوات سادہ ترین ہوتی ہے۔ مثال کے طور پر، فرض کریں کہ ماسکہ y محور پر نقطہ $F(0,p)$ پر پایا جاتا ہے اور لکیر $y=-p$ ناظمہ (شکل ۱.۱۰) ہے۔ یوں شکل ۱.۱۰ میں نقطہ $N(x,y)$ صرف اور صرف اس صورت اس قطع مکافی پر پایا جائے گا جب $NF=NQ$ ہو۔ فاصلہ کے کلیہ سے

$$NF=\sqrt{(x-0)^2+(y-p)^2}=\sqrt{x^2+(y-p)^2}$$
$$NQ=\sqrt{(x-x)^2+(y-(-p))^2}=\sqrt{(y+p)^2}$$

لکھا جا سکتا ہے۔ ان مساوات کو ایک دوسرے کے برابر پر کر کے حل کرتے ہوئے درج ذیل حاصل ہو گا۔

$$y=\frac{x^2}{4p} \implies x^2=4py \qquad \text{معیاری روپ} \tag{1}$$

اس مساوات سے قطع مکافی کی y محور کے لحاظ سے تشاکلی واضح ہے۔ ہم کہتے ہیں کہ محور y اس قطع مکافی کا محور تشاکلی ہے جس کو عموماً چھوٹا کر کے صرف **محور**[۷] پکارا جاتا ہے۔

وہ نقطہ جس پر قطع مکافی اپنے محور کو قطع کرتا ہو **راس**[۸] کہلاتا ہے۔ قطع مکافی $x^2=4py$ کا راس مبدا پر پایا جاتا ہے (شکل ۱.۱۰)۔ مثبت عدد p کو قطع مکافی کا **طول ماسکہ**[۹] کہتے ہیں۔

اگر قطع مکافی نیچے رخ کھلتا ہو اور اس کا ماسکہ $(0,-p)$ جبکہ ناظمہ لکیر $y=p$ ہو تب مساوات ادرج ذیل روپ اختیار کرے گی (شکل ۲.۱۰)۔

$$y=-\frac{x^2}{4p} \implies x^2=-4py$$

---

[۴] parabola
[۵] focus
[۶] directrix
[۷] axis
[۸] vertex
[۹] focallength

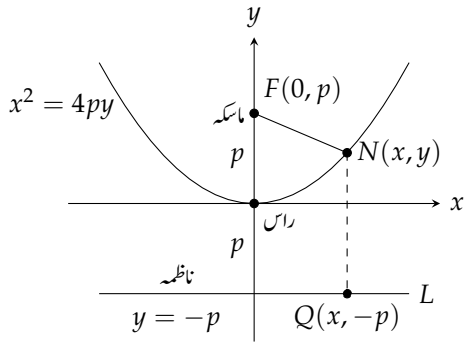

شکل ۱.۱۰: قطع مکافی $x^2 = 4py$ ؛ راس کا فاصل ماسکہ اور ناظمہ سے ایک سا ہے۔

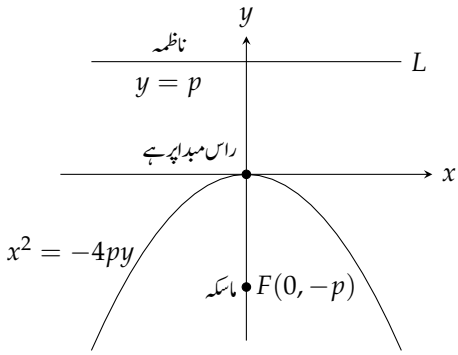

شکل ۲.۱۰: قطع مکافی $x^2 = -4py$

جدول ۱.۱۰: مبدا پر راس والے قطع مکافی کے معیاری مساوات ($p > 0$)

کھلنے کا رخ	محور	ناظمہ	ماسکہ	مساوات
اوپر	محور y	$y = -p$	$(0,p)$	$x^2 = 4py$
نیچے	محور y	$y = p$	$(0,-p)$	$x^2 = -4py$
دائیں	محور x	$x = -p$	$(p,0)$	$y^2 = 4px$
بائیں	محور x	$x = p$	$(-p,0)$	$y^2 = -4px$

۱۵۷۷۲ ہم اسی طرح کے مساوات ہم دائیں اور بائیں کھلنے والے قطع مکافی کے لئے حاصل کر سکتے ہیں (جدول ۱.۱۰ اور شکل ۳.۱۰)۔

۱۵۷۷۳ مثال ۱.۱۰: قطع مکافی $y^2 = 10x$ کا ماسکہ اور ناظمہ تلاش کریں۔

۱۵۷۷۴ حل: ہم معیاری مساوات $y^2 = 4px$ میں p کی قیمت تلاش کرتے ہیں:

$$4p = 10 \quad \Longrightarrow \quad p = \frac{10}{4} = \frac{5}{2}$$

۱۵۷۷۵ اس کے بعد ہم حاصل کردہ p کے لئے ماسکہ اور ناظمہ تلاش کرتے ہیں۔

$$(p,0) = \left(\frac{5}{2},0\right) \qquad \text{ماسکہ}$$

$$x = -p, \qquad x = -\frac{5}{2} \qquad \text{ناظمہ}$$

۱۵۷۷۶ □

۱۵۷۷۷ جدول ۱.۱۰ کے کلیات پر حصہ ۱.۴ میں دیے گئے کلیات انتقال لاگو کرتے ہوئے دیگر مقامات پر واقع قطع مکافی کے مساوات حاصل کئے جا سکتے ہیں۔ (سوال
۱۵۷۷۸ ۱۰.۳۹، سوال ۱۰.۴۰ اور سوال ۱۰.۴۵ تا سوال ۱۰.۴۸ دیکھیں۔)

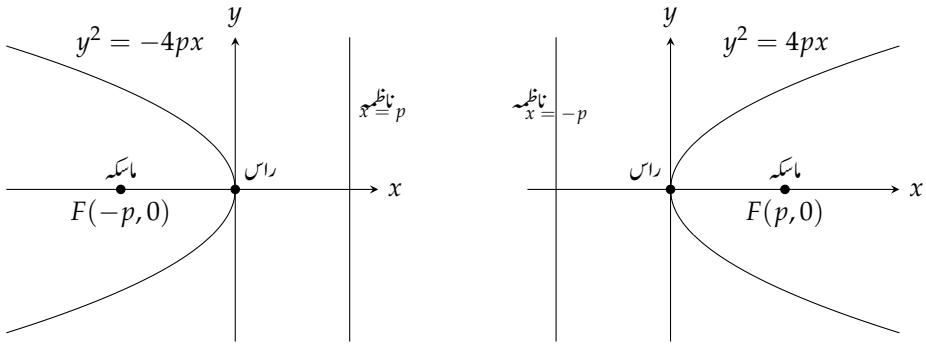

شکل ۱۰.۳: قطع مکافی $y^2 = 4px$ اور $y^2 = -4px$ کے ترسیمات۔

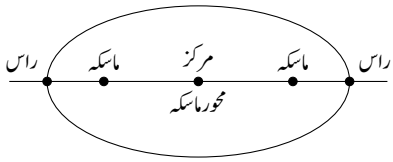

شکل ۱۰.۵: ترخیم پر اہم نقطے۔

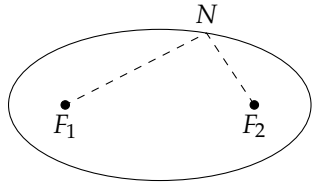

شکل ۱۰.۴: دونوں ماسکوں (F_1 اور F_2) سے کسی بھی نقطہ N تک فاصلوں کا مجموعہ (نقطہ دار لکیر) ایک مستقل ہے۔

ترخیم

تعریف: ایک مستوی پر رہتے ہوئے، مستوی پر دو مقررہ نقطوں سے جن نقطوں کے فاصلوں کا مجموعہ مستقل ہو، ان کے سلسلہ کو **ترخیم**[۱۰] کہتے ہیں۔ ان دو مقررہ نقطوں کو ترخیم کے **ماسکے** کہتے ہیں (شکل ۱۰.۴ اور شکل ۱۰.۵)۔

□

ترخیم کو اس کی تعریف استعمال کرتے ہوئے بہت جلد ترسیم کیا جا سکتا ہے۔ مقررہ نقطوں F_1 اور F_2 پر ڈوری باندھیں۔ ڈوری کو قلم سے کھینچ کر رکھتے ہوئے قلم کو بند دائری حرکت دیں۔ چونکہ ڈوری کی لمبائی مستقل ہے لہذا قلم ترخیم کو ترسیم کرے گا (شکل ۱۰.۴)۔

اگر ماسکے $F_1(-c, 0)$ اور $F_2(c, 0)$ ہوں (شکل ۱۰.۶) اور فاصلہ $NF_1 + NF_2$ کو $2a$ سے ظاہر کیا جائے تب ترخیم پر نقطہ $N(x, y)$ درج ذیل مساوات کو مطمئن کرے گا۔

$$\sqrt{(x+c)^2 + y^2} + \sqrt{(x-c)^2 + y^2} = 2a$$

---

[۱۰] ellipse

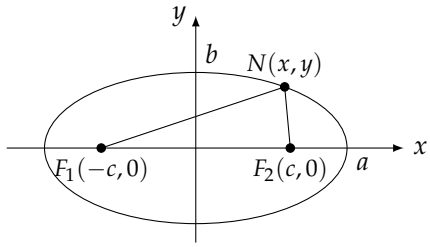

شکل ۱۰.۶: ترخیم کی تعریف $NF_1 + NF_2 = 2a$ اور اس کی مساوات $\frac{x^2}{a^2} + \frac{y^2}{b^2} = 1$ ہے۔

اس مساوات کی سادہ صورت حاصل کرنے کی خاطر ہم دوسرے جذری جزو کو دائیں منتقل کر کے دونوں اطراف کا مربع لے کر حاصل واحد جذری جزو کو ایک ہاتھ رکھتے ہوئے دوبارہ مربع لیتے ہیں۔ نتیجتاً درج ذیل حاصل ہو گا۔

$$\frac{x^2}{a^2} + \frac{y^2}{a^2 - c^2} = 1 \tag{۲}$$

چونکہ $NF_1 + NF_2$ کی لمبائی F_1F_2 کی لمبائی سے زیادہ ہے (تکون NF_1F_2 کے لئے تکونی عدم مساوات) لہٰذا عدد $2a$ عدد $2c$ سے بڑا ہو گا۔ یوں $a > c$ ہو گا لہٰذا مساوات ۲ میں $a^2 - c^2$ ایک مثبت عدد ہو گا۔

ہم مساوات ۲ حاصل کرنے کے اقدام کو الٹ کرتے ہوئے دکھا سکتے ہیں کہ ہر وہ نقطہ جو مساوات ۲ کو $0 < c < a$ کے لئے مطمئن کرتا ہو $NF_1 + NF_2 = 2a$ کو بھی مطمئن کرے گا۔ یوں ایک نقطہ صرف اور صرف اس صورت ترخیم پر پایا جائے گا اگر وہ مساوات ۲ کو مطمئن کرتا ہو۔

اگر

$$b = \sqrt{a^2 - c^2} \tag{۳}$$

ہو تب $a^2 - c^2 = b^2$ ہو گا اور مساوات ۲ درج ذیل صورت اختیار کرے گی۔

$$\frac{x^2}{a^2} + \frac{y^2}{b^2} = 1 \tag{۴}$$

مساوات ۴ کے تحت مبدا اور دونوں محوروں کے لحاظ سے تشاکلی ہے۔ یہ $x = \pm a$ اور $y = \pm b$ لکیروں میں بند مستطیل کے اندر پایا جاتا ہے۔ یہ محوروں کو نقطہ $(\pm a, 0)$ اور $(0, \pm b)$ پر قطع کرتا ہے۔ چونکہ

$$\frac{\mathrm{d}y}{\mathrm{d}x} = -\frac{b^2 x}{a^2 y} \qquad \text{مساوات ۴ سے حاصل کیا گیا}$$

کی قیمت $x = 0$ پر صفر اور $y = 0$ پر لا متناہی ہے لہٰذا $(\pm a, 0)$ اور $(0, \pm b)$ پر مماثل محوروں کو عمودی ہوں گے۔

۱۵۷۹۸ **ترخیم کا اکبر اور اصغر محور**

۱۵۷۹۹ مساوات ۴ کی ترخیم کا **اکبر محور**[11] نقاط $(\pm 2, 0)$ کو جوڑنا والی لکیر ہے جس کی لمبائی $2a$ ہے۔ اس کے **اصغر محور**[12] کی لمبائی $2b$ ہے جو نقاط
۱۵۸۰۰ $(0, \pm b)$ کے بیچ لکیر ہے۔ عدد a از خود نصف اکبر محور جبکہ عدد نصف اصغر محور کہلاتے ہیں۔ مساوات ۳ سے عدد c

$$c = \sqrt{a^2 - b^2}$$

۱۵۸۰۱ حاصل ہوتا ہے جو مرکز تا ماسکہ فاصلہ ہے۔

۱۵۸۰۲ مثال ۱۰.۲: افقی اکبر محور
۱۵۸۰۳ درج ذیل ترخیم

$$\frac{x^2}{16} + \frac{y^2}{9} = 1 \tag{۵}$$

۱۵۸۰۴ جس کو شکل ۱۰.۷ میں دکھایا گیا ہے کے لئے درج ذیل ہوں گے۔

نصف اکبر محور	$a = \sqrt{16} = 4$
نصف اصغر محور	$b = \sqrt{9} = 3$
ماسکہ سے مرکز تک فاصلہ	$c = \sqrt{16 - 9} = \sqrt{7}$
ماسکے	$(\pm c, 0) = (\pm 7, 0)$
راس	$(\pm a, 0) = (\pm 4, 0)$
مرکز	$(0, 0)$

۱۵۸۰۵ □

۱۵۸۰۶ مثال ۱۰.۳: عمودی اکبر محور
۱۵۸۰۷ مساوات ۵ میں x اور y کو ایک دوسرے کے ساتھ بدل کر درج ذیل ترخیم حاصل ہوتا ہے

$$\frac{x^2}{9} + \frac{y^2}{16} = 1 \tag{۶}$$

---

[11] majoraxis
[12] minoraxis

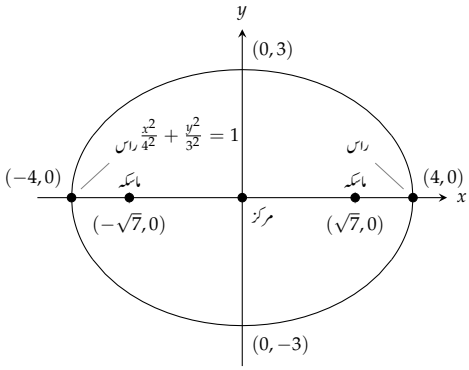

شکل ۱۰.۷: اکبر محور افقی ہے۔ (مثال ۱۰.۲)

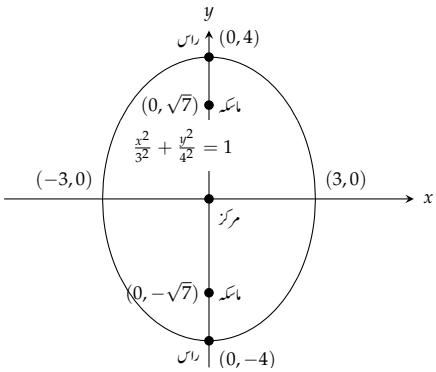

شکل ۱۰.۸: اکبر محور عمودی ہے۔ (مثال ۱۰.۳)

۱۵۸۰۸ جس کو شکل ۱۰.۸ میں دکھایا گیا ہے۔ اس کے لئے درج ذیل ہوں گے۔

نصف اکبر محور	$a = \sqrt{16} = 4$
نصف اصغر محور	$b = \sqrt{9} = 3$
ماسکہ سے مرکز تک فاصلہ	$c = \sqrt{16 - 9} = \sqrt{7}$
ماسکے	$(0, \pm c) = (0, \pm 7)$
راس	$(0, \pm a) = (0, \pm 4)$
مرکز	$(0, 0)$

۱۵۸۰۹ □

۱۵۸۱۰ مساوات ۵ اور مساوات ۶ کو سمجھنے میں کبھی دشواری پیش نہیں آتی ہے۔ ہم محددی محور پر نقطہ تقاطع معلوم کر کے لمبی محور کو اکبر محور چنتے ہیں۔ مرکز ان صورتوں
۱۵۸۱۱ میں مبدا پر ہو گا اور ماسکہ اکبر محور پر پائے جائیں گے۔

۱۵۸۱۲ مبدا پر مرکز والے ترخیم کے معیاری مساوات

۱۵۸۱۳

$\frac{x^2}{a^2}+\frac{y^2}{b^2}=1 \quad (a>b)$	x محور پر ماسکہ
$c=\sqrt{a^2-b^2}$	مرکز سے ماسکہ تک فاصلہ
$(\pm c, 0)$	ماسکے
$(\pm a, 0)$	راس

$\frac{x^2}{b^2}+\frac{y^2}{a^2}=1 \quad (a>b)$	y محور پر ماسکہ
$c=\sqrt{a^2-b^2}$	مرکز سے ماسکہ تک فاصلہ
$(0, \pm c)$	ماسکے
$(0, \pm a)$	راس

۱۵۸۱۴ دونوں صورتوں میں نصف اکبر محور a اور نصف اصغر محور b ہیں۔

۱۵۸۱۵ **قطع زائد**

۱۵۸۱۶ تعریف: ایک مستوی میں رہتے ہوئے مستوی میں دو مقررہ نقطوں سے جن نقطوں کے فاصلوں کا فرق ایک مستقل ہو، ان تمام نقطوں کے سلسلہ کو **قطع**
۱۵۸۱۷ **زائد**[۱۳] کہتے ہیں۔ یہ دو مقررہ نقطے قطع زائد کے **ماسکہ** کہلاتے ہیں۔

۱۵۸۱۸ □

۱۵۸۱۹ اگر ماسکے $F_1(-c,0)$ اور $(F_2(c,0))$ ہوں (شکل ۱۰.۹) اور مستقل فرق $2a$ ہو تب نقطہ (x,y) صرف اور صرف اس صورت قطع زائد پر
۱۵۸۲۰ پایا جائے گا جب درج ذیل مطمئن ہو۔

$$\sqrt{(x+c)^2+y^2}-\sqrt{(x-c)^2+y^2}=\pm 2a \tag{۷}$$

۱۵۸۲۱ اس مساوات کی سادہ روپ حاصل کرنے کی خاطر ہم دوسرے جذر کو دائیں ہاتھ منتقل کر کے دونوں ہاتھ کا مربع لے کر جذر کو ایک ہاتھ رکھ کر دوبارہ دونوں ہاتھ
۱۵۸۲۲ کا مربع لیتے ہیں۔ یوں درج ذیل حاصل ہو گا۔

$$\frac{x^2}{a^2}+\frac{y^2}{a^2-c^2}=1 \tag{۸}$$

۱۵۸۲۳ اب تک یہ مساوات بالکل ترخیم کی مساوات کی طرح ہے۔ البتہ اب چونکہ تکون NF_1F_2 کے دو اضلاع کا فرق $2a$ ہے جو تیسرے ضلع $2c$ سے کم ہو گا
۱۵۸۲۴ لہٰذا a^2-c^2 منفی قیمت ہے۔

---

[۱۳] hyperbola

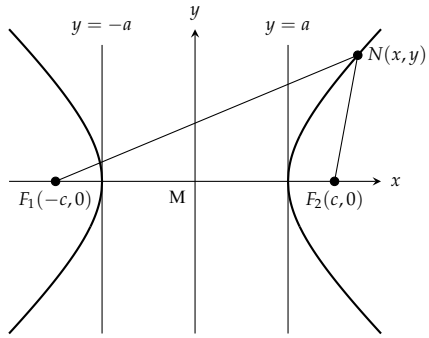

شکل ۱۰.۹: قطع زائد کے دائیں بازو کے لئے $NF_1 - NF_2 = 2a$ جبکہ بائیں بازو کے لئے $NF_2 - NF_1 = 2a$ ہوگا۔

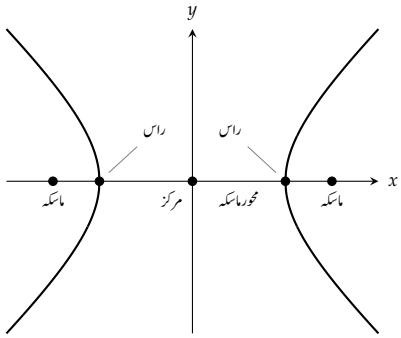

شکل ۱۰.۱۰: قطع مکافی کے محور ماسکہ پر نقطے۔

۱۵۸۲۵ ہم مساوات ۸ کے حصول کے اقدام کو الٹ کرتے ہوئے دکھا سکتے ہیں کہ ہر وہ نقطہ N جو $0 < a < c$ کے لئے اس طرز کی مساوات کو مطمئن کرتا ہو،
۱۵۸۲۶ مساوات ۷ کو بھی مطمئن کرے گا۔ یوں ایک نقطہ صرف اور صرف اس صورت قطع زائد پر پایا جائے گا اگر اس کے محدد مساوات ۸ کو مطمئن کرتے ہوں۔

۱۵۸۲۷ اگر ہم $c^2 - a^2$ کے مثبت جذر کو b سے ظاہر کریں،

$$b = \sqrt{c^2 - a^2} \tag{۹}$$

۱۵۸۲۸ تب $a^2 - c^2 = -b^2$ ہوگا اور مساوات ۸ درج ذیل روپ اختیار کرے گی۔

$$\frac{x^2}{a^2} - \frac{y^2}{b^2} = 1 \tag{۱۰}$$

۱۵۸۲۹ قطع زائد کی مساوات ۱۰ اور ترخیم کی مساوات ۴ میں فرق منفی علامت کا اور درج ذیل نئے تعلق کا ہے۔

$$c^2 = a^2 + b^2 \qquad \text{مساوات ۹ سے حاصل کیا گیا}$$

۱۵۸۳۰ ترخیم کی طرح قطع زائد بھی مبدا اور محددی محوروں کے لحاظ سے تشاکلی ہے۔ یہ x محور کو نقطہ $(\pm a, 0)$ پر قطع کرتا ہے اور ان نقطوں پر چونکہ

$$\frac{\mathrm{d}y}{\mathrm{d}x} = \frac{b^2 x}{a^2 y} \qquad \text{مساوات ۱۰ سے حاصل کیا گیا}$$

۱۵۸۳۱ ہے لہٰذا یہاں مماس عمودی ہوں گے۔

۱۵۸۳۲ تعریف: قطع زائد کے ماسکوں کے بیچ لکیر کو **محور ماسکہ**[۱۴] کہتے ہیں جس کے وسطی نقطہ کو قطع مکافی کا **مرکز**[۱۵] کہتے ہیں۔ جن نقطوں پر محور ماسکہ اور قطع مکافی
۱۵۸۳۳ ایک دوسرے کو قطع کرتے ہوں، انہیں **راس**[۱۶] کہتے ہیں (شکل ۱۰.۱۰)۔

---

[۱۴] focalaxis
[۱۵] center
[۱۶] vertices

۱۵۸۳۴ □

۱۵۸۳۵ قطع زائد کے متقارب؛ ترسیم کا عمل

۱۵۸۳۶ قطع زائد

$$\frac{x^2}{a^2} - \frac{y^2}{b^2} = 1 \tag{11}$$

۱۵۸۳۷ کے دو **متقارب**[۱۷] درج ذیل لکیریں ہیں۔

$$y = \pm\frac{b}{a}x$$

۱۵۸۳۸ متقارب کی مدد سے ہم قطع زائد کو جلدی ترسیم کر پاتے ہیں۔ متقارب کی مساوات حاصل کرنے کا آسان ترین طریقہ مساوات ۱۱ میں دائیں ہاتھ 1 کی جگہ 0
۱۵۸۳۹ پر کر کے y کے لئے حل کرنا ہے:

$$\underbrace{\frac{x^2}{a^2} - \frac{y^2}{b^2} = 1}_{\text{قطع زائد}} \implies \underbrace{\frac{x^2}{a^2} - \frac{y^2}{b^2} = 0}_{\text{1 کی جگہ 0}} \implies \underbrace{y = \pm\frac{b}{a}x}_{\text{متقارب}}$$

۱۵۸۴۰ مرکز پر مبدا والے قطع زائد کی معیاری مساواتیں

$\frac{x^2}{a^2} - \frac{y^2}{b^2} = 1$	محور x پر ماسکے ہیں
$c = \sqrt{a^2 + b^2}$	مرکز سے ماسکہ تک فاصلہ
$(\pm c, 0)$	ماسکے
$(\pm a, 0)$	راس
$y = \pm\frac{b}{a}x$	متقارب

$\frac{y^2}{a^2} - \frac{x^2}{b^2} = 1$	محور y پر ماسکے ہیں
$c = \sqrt{a^2 + b^2}$	مرکز سے ماسکہ تک فاصلہ
$(0, \pm c)$	ماسکے
$(0, \pm a)$	راس
$y = \pm\frac{a}{b}x$	متقارب

---

[۱۷] asymptotes

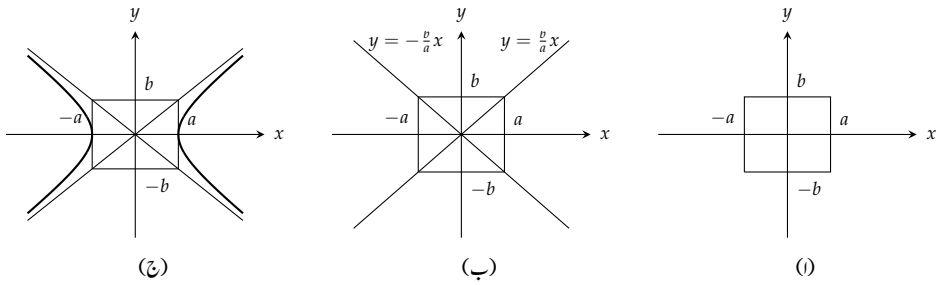

شکل ۱۰.۱۱: متقارب کی مدد سے قطع زائد کی ترسیم۔

۱۵۸۴۱ دھیان رہے کہ پہلی صورت میں متقارب کی مساوات میں $\frac{b}{a}$ اور دوسری صورت میں $\frac{a}{b}$ ہیں۔

۱۵۸۴۲ قطع زائد ترسیم کرنے کا عمل

۱۵۸۴۳ قطع زائد $\frac{y^2}{a^2} - \frac{x^2}{b^2} = 1$ ترسیم کرنے کے لئے درج ذیل اقدام کریں (شکل ۱۰.۱۱)۔

۱۵۸۴۴ ا. نقاط $(\pm a, 0)$ اور $0, \pm b$ کو ترسیم کرتے ہوئے اس مستطیل کو مکمل کریں جن کے اضلاع میں یہ نقطے پائے جاتے ہوں۔

۱۵۸۴۵ ب. مستطیل کے وتر کو بڑھا کر متقارب ترسیم کریں۔

۱۵۸۴۶ ج. مستطیل اور متقارب کو راہ بر لیتے ہوئے قطع زائد ترسیم کریں۔

۱۵۸۴۷ مثال ۱۰.۴: محور x پر ماسکے

۱۵۸۴۸ درج ذیل قطع زائد کی مساوات ہے (شکل ۱۰.۱۲)

$$\frac{x^2}{4} - \frac{y^2}{5} = 1$$

۱۵۸۴۹ جس میں $a^2 = 4$ اور $b^2 = 5$ ہیں (مساوات ۱۰)۔ یوں درج ذیل ہوں گے۔

مرکز سے ماسکہ تک فاصلہ	$c = \sqrt{a^2 + b^2} = \sqrt{4+5} = 3$
ماسکے	$(\pm c, 0) = (\pm 3, 0)$
راس	$(\pm a, 0) = (\pm 2, 0)$
متقارب	$y = \pm \frac{\sqrt{5}}{2} x$

۱۵۸۵۰ □

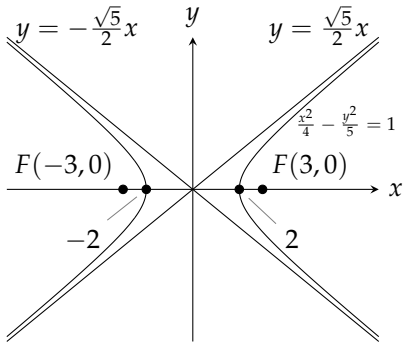

شکل ۱۰.۱۲: قطع زائد (مثال ۱۰.۴)

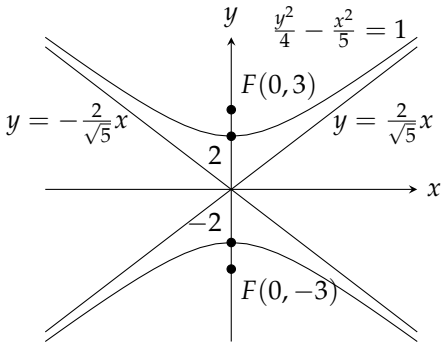

شکل ۱۰.۱۳: قطع زائد (مثال ۱۰.۵)

۱۵۸۵۱ مثال ۱۰.۵: درج ذیل قطع زائد کو مثال ۱۰.۴ کے قطع زائد میں x اور y کو ایک دوسرے کے ساتھ بدل کر حاصل کیا گیا ہے۔

$$\frac{y^2}{4} - \frac{x^2}{5} = 1$$

۱۵۸۵۲ اس قطع زائد کے راس عمودی محور پر پائے جائیں گے (شکل ۱۰.۱۳)۔ اب بھی $a^2 = 4$ اور $b^2 = 5$ ہوں گے۔ یوں درج ذیل ہو گا۔

مرکز سے ماسکہ تک فاصلہ	$c = \sqrt{a^2 + b^2} = \sqrt{4+5} = 3$
ماسکے	$(0, \pm c) = (0, \pm 3)$
راس	$(0, \pm a) = (0, \pm 2)$
مرکز	$(0,0)$
متقارب	$y = \pm \frac{2}{\sqrt{5}} x$

۱۵۸۵۳ □

۱۵۸۵۴ عکسی خواص

۱۵۸۵۵ قطع مکافی کا اہم ترین استعمال بطور شعاع اور ریڈیو امواج کا عاکس ہے۔ قطع مکافی کے ماسکہ سے خارج شعاع، قطع مکافی کے محور کے متوازی منعکس ہوتا ہے
۱۵۸۵۶ (شکل ۱۰.۱۴)۔ یہ خاصیت ہاتھ بتی اور گاڑیوں کی اگلی بتیوں میں بروئے کار لایا جاتا ہے۔ اس کے علاوہ خرد امواج نشر کرنے کے لئے بھی قطع مکافی اینٹینا استعمال
۱۵۸۵۷ کیا جاتا ہے جو نقطہ منبع سے خارج برقناطیسی امواج کو ایک محدود شعاع کی صورت میں خارج کرتا ہے۔ اس کے برعکس قطع مکافی عاکس کے محور کے متوازی آمد
۱۵۸۵۸ برقناطیسی امواج عاکس کے ماسکہ پر مرکوز کیے جاتے ہیں (شکل ۱۰.۱۵)۔ اس خاصیت کی وجہ سے ٹیلی وژن کا ڈش اینٹینا یا ریڈیو دوربین کمزور اشارات کو اکٹھے
۱۵۸۵۹ کر کے زیادہ طاقتور اشارہ حاصل کرتا ہے۔ اسی طرح سورج کی روشنی کو ایک نقطہ پر مرتکز کیا جا سکتا ہے۔

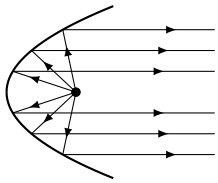

شکل ۱۰.۱۴: قطع مکافی آئینہ کے ماسکہ سے نکلتا شعاع انعکاس کے بعد محور کے متوازی ہو گا۔

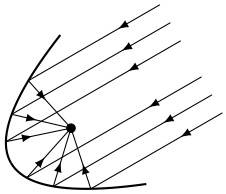

شکل ۱۰.۱۵: قطع مکافی عاکس پر آمد شعاع ماسکہ پر پہنچتا ہے۔

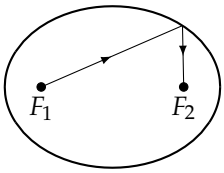

شکل ۱۰.۱۶: ترخیم کے ایک ماسکہ سے خارج شعاع دوسرے ماسکہ پر پہنچتا ہے۔

۱۵۸۶۰ ایک ترخیم کو اس کے محور کے گرد گھما کر سطح طواف پیدا کیا جا سکتا ہے جو **ترخیمی سطح**[۱۸] کہلاتا ہے۔ اس کی اندرونی سطح پر چاندی کی تہہ لگا کر آئینہ بنایا جا سکتا ہے۔
۱۵۸۶۱ ایک ماسکہ سے خارج شعاع دوسرے ماسکہ پر منعکس ہو گا (شکل ۱۰.۱۶ اور سوال ۱۰.۱۱۲)۔ ترخیمی سطح اسی طرح آواز کو بھی ایک ماسکہ سے دوسرے ماسکہ منتقل
۱۵۸۶۲ کرتا ہے۔ اس خاصیت کو استعمال کرتے ہوئے کمرہ سرگوشی بنایا جا سکتا ہے جس میں ایک ماسکہ پر بیٹھا شخص دوسرے ماسکہ پر بیٹھے شخص کے ساتھ سرگوشی سے
۱۵۸۶۳ باتیں کر سکتا ہے۔ کمرہ سرگوشی میں موجود باقی لوگ ان کی باتیں سننے سے قاصر ہوں گے۔ ہوائی جہازوں کی کارکردگی پر ہوائی سرنگ میں غور کیا جاتا ہے۔ جہاز
۱۵۸۶۴ کے شور پر غور کرتے ہوئے نقطہ غور کو ترخیمی سطح کے ایک ماسکہ پر رکھا جاتا ہے جبکہ مائکروفون کو اس کی دوسرے ماسکہ پر رکھا جاتا ہے۔ دیگر نقطوں سے پیدا شور
۱۵۸۶۵ کے اثر کو یوں بہت کم کرنا ممکن ہوتا ہے۔

۱۵۸۶۶ قطع زائد آئینہ کے ایک ماسکہ پر آمد شعاع کو آئینہ دوسرے ماسکہ پر بھیجتا ہے۔ قطع مکافی سطح، ترخیمی سطح اور قطع مکافی سطحوں کے خواص کو استعمال کرتے ہوئے
۱۵۸۶۷ جدید دوربین تیار کیے جاتے ہیں۔

۱۵۸۶۸ سوالات

۱۵۸۶۹ ترسیم کی پہچان

۱۵۸۷۰ سوال ۱۰.۱ تا سوال ۱۰.۴ میں دی گئی قطع مکافی کی مساوات درج ذیل میں تلاش کریں۔

$$x^2 = 2y, \quad x^2 = -6y, \quad y^2 = 8x, \quad y^2 = -4x$$

۱۵۸۷۱ اس کے بعد قطع مکافی کے ماسکہ اور ناظمہ دریافت کریں۔

۱۵۸۷۲ سوال ۱۰.۱: شکل ۱۰.۱۷-ا

۱۵۸۷۳ سوال ۱۰.۲: شکل ۱۰.۱۷-ب

۱۵۸۷۴ سوال ۱۰.۳: شکل ۱۰.۱۷-ج

---

[۱۸] ellipsoid

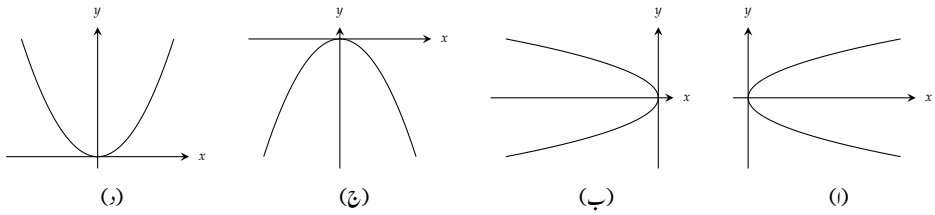

شکل ۱۰.۱۷: ترسیم برائے سوال ۱۰.۱ تا سوال ۱۰.۴

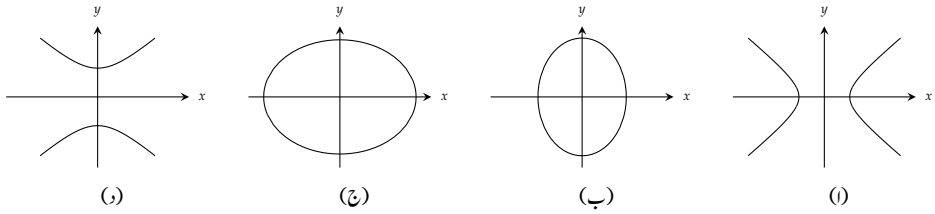

شکل ۱۰.۱۸: ترسیمات برائے سوال ۱۰.۵ تا سوال ۱۰.۸

۱۵۸۷۵ سوال ۱۰.۴: شکل ۱۰.۱۷-د

۱۵۸۷۶

۱۵۸۷۷ سوال ۱۰.۵ تا سوال ۱۰.۸ میں دیے گئے مخروط کی مساوات درج ذیل میں تلاش کریں۔

$$\frac{x^2}{4}+\frac{y^2}{9}=1,\quad \frac{x^2}{2}+y^2=1,\quad \frac{y^2}{4}-x^2=1,\quad \frac{x^2}{4}-\frac{y^2}{9}=1$$

۱۵۸۷۸ دیے گئے مخروط کا ماسکہ اور راس تلاش کریں۔ اگر قطع زائد دیا گیا ہو تب اس کے متقارب بھی دریافت کریں۔

۱۵۸۷۹ سوال ۱۰.۵: ترسیم شکل ۱۰.۱۸-ا میں دیا گیا ہے۔

۱۵۸۸۰ سوال ۱۰.۶: ترسیم شکل ۱۰.۱۸-ب میں دیا گیا ہے۔

۱۵۸۸۱ سوال ۱۰.۷: ترسیم شکل ۱۰.۱۸-ج میں دیا گیا ہے۔

۱۵۸۸۲ سوال ۱۰.۸: ترسیم شکل ۱۰.۱۸-د میں دیا گیا ہے۔

۱۵۸۸۳

قطع مکافی

۱۵۸۸۴

۱۵۸۸۵ سوال ۱۰.۹ تا سوال ۱۰.۱۶ میں دیے گئے قطع مکافی کا ماسکہ اور ناظمہ تلاش کرنے کے بعد اس کو ترسیم کریں۔ ماسکہ اور ناظمہ کو بھی ترسیم میں شامل کریں۔

۱۵۸۸۶ سوال ۱۰.۹: $y^2=12x$

سوال ۱۰.۱۰: $x^2 = 6y$

سوال ۱۰.۱۱: $x^2 = -8y$

سوال ۱۰.۱۲: $y^2 = -2x$

سوال ۱۰.۱۳: $y = 4x^2$

سوال ۱۰.۱۴: $y = -8x^2$

سوال ۱۰.۱۵: $x = -3y^2$

سوال ۱۰.۱۶: $x = 2y^2$

ترخیم

سوال ۱۰.۱۷ تا سوال ۱۰.۲۴ میں دیے گئے ترخیم کی مساوات کو معیاری روپ میں لکھ کر ترسیم کریں۔ ترسیم پر ماسکے دکھائیں۔

سوال ۱۰.۱۷: $16x^2 + 25y^2 = 400$

سوال ۱۰.۱۸: $7x^2 + 16y^2 = 112$

سوال ۱۰.۱۹: $2x^2 + y^2 = 2$

سوال ۱۰.۲۰: $2x^2 + y^2 = 4$

سوال ۱۰.۲۱: $3x^2 + 2y^2 = 6$

سوال ۱۰.۲۲: $9x^2 + 10y^2 = 90$

سوال ۱۰.۲۳: $6x^2 + 9y^2 = 54$

سوال ۱۰.۲۴: $169x^2 + 25y^2 = 4225$

سوال ۱۰.۲۵ اور سوال ۱۰.۲۶ میں xy مستوی میں پائے جانے والے ترخیم کے ماسکہ اور راس دیے گئے ہیں۔ ترخیم کا مرکز xy مستوی کے مبدا پر ہے۔ ترخیم کی معیاری مساوات تلاش کریں۔

سوال ۱۰.۲۵: ماسکے $(\pm\sqrt{2}, 0)$ اور راس $(\pm 2, 0)$

سوال ۱۰.۲۶: ماسکے $(0, \pm 4)$ اور راس $(0, \pm 5)$

قطع زائد

سوال ۱۰.۲۷ تا سوال ۱۰.۳۴ میں قطع زائد کی مساواتیں دی گئی ہیں۔ مساوات کو معیاری روپ میں لکھیں اور قطع زائد کا متقارب دریافت کریں۔ قطع زائد کا خاکہ کھینچ کر متقارب اور ماسکہ بھی دکھائیں۔

سوال ۱۰.۲۷: $x^2 - y^2 = 1$

سوال ۱۰.۲۸: $9x^2 - 16y^2 = 144$

سوال ۱۰.۲۹: $y^2 - x^2 = 8$

سوال ۱۰.۳۰: $y^2 - x^2 = 4$

سوال ۱۰.۳۱: $8x^2 - 2y^2 = 16$

سوال ۱۰.۳۲: $y^2 - 3x^2 = 3$

سوال ۱۰.۳۳: $8y^2 - 2x^2 = 16$

سوال ۱۰.۳۴: $64x^2 - 36y^2 = 2304$

سوال ۱۰.۳۵ تا سوال ۱۰.۳۸ میں xy مستوی پر پائے جانے والے قطع زائد کے ماسکہ، راس اور متقارب کی معلومات دی گئی ہے۔ قطع زائد کا مرکز xy مستوی کے مبدا پر ہے۔ قطع زائد کی معیاری مساوات حاصل کریں۔

سوال ۱۰.۳۵: ماسکے $(0, \pm\sqrt{2})$ اور متقارب $y = \pm x$

سوال ۱۰.۳۶: ماسکے $(\pm 2, 0)$ اور متقارب $y = \pm\frac{1}{\sqrt{3}}x$

سوال ۱۰.۳۷: راس $(\pm 3, 0)$ اور متقارب $y = \pm\frac{4}{3}x$

سوال ۱۰.۳۸: راس $(0, \pm 2)$ اور متقارب $y = \pm\frac{1}{2}x$

مخروطی حصوں کا انتقال

سوال ۱۰.۳۹: قطع مکافی $y^2 = 8x$ کو 2 اکائیاں نیچے اور 1 اکائی دائیں منتقل کر کے قطع مکافی $(y+2)^2 = 8(x-1)$ پیدا کیا جاتا ہے۔ (الف) نئے قطع مکافی کے راس، ماسکہ اور ناظمہ دریافت کریں۔ (ب) نئے راس، ماسکہ اور ناظمہ کو ترسیم کرتے ہوئے نئے قطع مکافی کا خاکہ بنائیں۔

سوال ۱۰.۴۰: قطع مکافی $x^2 = -4y$ کو 1 اکائی بائیں اور 3 اکائیاں اوپر منتقل کر کے قطع مکافی $(x+1)^2 = -4(y-3)$ پیدا کیا جاتا ہے۔ (الف) نئے قطع مکافی کا راس، ماسکہ اور ناظمہ دریافت کریں۔ (ب) نئے راس، ماسکہ اور ناظمہ کو ترسیم کرتے ہوئے نئے قطع مکافی کا خاکہ بنائیں۔

سوال ۱۰.۴۱: ترخیم $\frac{x^2}{16} + \frac{y^2}{9} = 1$ کو 4 اکائیاں دائیں اور 3 اکائیاں اوپر منتقل کر کے ترخیم $\frac{(x-4)^2}{16} + \frac{(y-3)^2}{9} = 1$ پیدا کیا جاتا ہے۔ (الف) نئے ترخیم کے ماسکے، راس اور مرکز دریافت کریں۔ (ب) نئے ماسکے، راس اور مرکز ترسیم کرتے ہوئے نئے ترخیم کا خاکہ بنائیں۔

سوال ۱۰.۴۲: ترخیم $\frac{x^2}{9} + \frac{y^2}{25} = 1$ کو 3 اکائیاں بائیں اور 2 اکائیاں نیچے منتقل کر کے ترخیم $\frac{(x+3)^2}{9} + \frac{(y+2)^2}{25} = 1$ پیدا کیا جاتا ہے۔ (الف) نئے ترخیم کے ماسکے، راس اور مرکز دریافت کریں۔ (ب) نئے ماسکے، راس اور مرکز ترسیم کرتے ہوئے نئے ترخیم کا خاکہ بنائیں۔

سوال ۱۰.۴۳: قطع زائد $\frac{x^2}{16} - \frac{y^2}{9} = 1$ کو 2 اکائیاں دائیں منتقل کر کے قطع زائد $\frac{(x-2)^2}{16} - \frac{y^2}{9} = 1$ پیدا کیا جاتا ہے۔ (الف) نئے قطع زائد کا مرکز، ماسکے، راس اور متقارب دریافت کریں۔ (ب) نئے مرکز، ماسکے، راس اور متقارب ترسیم کرتے ہوئے نئے قطع زائد کا خاکہ بنائیں۔

سوال ۱۰.۴۴: قطع زائد $\frac{y^2}{4} - \frac{x^2}{5} = 1$ کو 2 اکائیاں نیچے منتقل کرتے ہوئے قطع زائد $\frac{(y+2)^2}{4} - \frac{x^2}{5} = 1$ پیدا کیا جاتا ہے۔ (الف) نئے قطع زائد کا مرکز، ماسکے اور متقارب دریافت کریں۔ (ب) نیا مرکز، ماسکے اور متقارب ترسیم کر کے نئے قطع زائد کا خاکہ بنائیں۔

سوال ۱۰.۴۵ تا سوال ۱۰.۴۸ میں قطع مکافی کی مساوات اور اس کی منتقلی کی معلومات دی گئی ہے۔ نئے قطع مکافی کی مساوات تلاش کر کے نئے قطع مکافی کا راس، ماسکہ اور ناظمہ معلوم کریں۔

سوال ۱۰.۴۵: $y^2 = 4x$ ، 2 اکائیاں بائیں اور 3 اکائیاں نیچے۔

سوال ۱۰.۴۶: $y^2 = -12x$ ، 4 اکائیاں دائیں اور 3 اکائیاں اوپر۔

سوال ۱۰.۴۷: $x^2 = 8y$ ، 1 اکائی دائیں اور 7 اکائیاں نیچے۔

سوال ۱۰.۴۸: $x^2 = 6y$ ، 3 اکائیاں بائیں اور 2 اکائیاں نیچے۔

سوال ۱۰.۴۹ تا سوال ۱۰.۵۲ میں ترخیم کی مساوات اور اس کی منتقلی کی معلومات دی گئی ہے۔ نئے ترخیم کی مساوات تلاش کر کے نئے ترخیم کے ماسکے، راس اور مرکز معلوم کریں۔

سوال ۱۰.۴۹: $\frac{x^2}{6} + \frac{y^2}{9} = 1$ ، 2 اکائیاں بائیں اور 1 اکائی نیچے۔

سوال ۱۰.۵۰: $\frac{x^2}{2} + y^2 = 1$ ، 3 اکائیاں دائیں اور 4 اکائیاں اوپر۔

سوال ۱۰.۵۱: $\frac{x^2}{3} + \frac{y^2}{2} = 1$ ، 2 اکائیاں دائیں اور 3 اکائیاں اوپر۔

سوال ۱۰.۵۲: $\frac{x^2}{16} + \frac{y^2}{25} = 1$ ، 43 اکائیاں بائیں اور 5 اکائیاں نیچے۔

سوال ۱۰.۵۳ تا سوال ۱۰.۵۶ میں قطع زائد کی مساوات اور اس کی منتقلی کی معلومات دی گئی ہے۔ نئے قطع زائد کی مساوات تلاش کر کے نئے قطع زائد کا مرکز، ماسکے، راس اور متقارب معلوم کریں۔

سوال ۱۰.۵۳: $\frac{x^2}{4} - \frac{y^2}{5} = 1$ دائیں 2 اکائیاں اور اوپر 2 اکائیاں۔

سوال ۱۰.۵۴: $\frac{x^2}{16} - \frac{y^2}{9} = 1$ بائیں 5 اکائیاں اور نیچے 1 اکائی۔

سوال ۱۰.۵۵: $y^2 - x^2 = 1$ بائیں 1 اکائی اور نیچے 1 اکائی۔

سوال ۱۰.۵۶: $\frac{y^2}{3} - x^2 = 1$ دائیں 1 اکائی اور اوپر 3 اکائیاں۔

سوال ۱۰.۵۷ تا سوال ۱۰.۶۸ میں دیے گئے مخروط حصوں کا (جیسا مناسب ہو) مرکز، ماسکے، راس، متقارب اور رداس دریافت کریں۔

سوال ۱۰.۵۷: $x^2 + 4x + y^2 = 12$

سوال ۱۰.۵۸: $2x^2 + 2y^2 - 28x + 12y + 144$

سوال ۱۰.۵۹: $x^2 + 2x + 4y - 3 = 0$

سوال ۱۰.۶۰: $y^2 - 4y - 8x - 12 = 0$

سوال ۱۰.۶۱: $x^2 + 5y^2 + 4x = 1$

سوال ۱۰.۶۲: $9x^2 + 6y^2 + 36y = 0$

سوال ۱۰.۶۳: $x^2 + 2y^2 - 2x - 4y = -1$

سوال ۱۰.۶۴: $4x^2 + y^2 + 8x - 2y = -1$

سوال ۱۰.۶۵: $x^2 - y^2 - 2x + 4y = 4$

سوال ۱۰.۶۶: $x^2 - y^2 + 4x - 6y = 6$

سوال ۱۰.۶۷: $2x^2 - y^2 + 6y = 3$

سوال ۱۰.۶۸: $y^2 - 4x^2 + 16x = 24$

عدم مساوات

سوال ۱۰.۶۹ تا سوال ۱۰.۷۴ میں ایک خطہ کو مطمئن کرنے والی عدم مساوات یا عدم مساوات کی جوڑی دی گئی ہے۔ xy مستوی میں اس خطہ کو ترسیم کریں۔

سوال ۱۰.۶۹: $9x^2 + 16y^2 \leq 144$

سوال ۱۰.۷۰: $4x^2 + y^2 \leq 4$ اور $x^2 + y^2 \geq 1$

سوال ۱۰.۷۱: $4x^2 + 9y^2 \leq 36$ اور $x^2 + 4y^2 \geq 4$

سوال ۱۰.۷۲: $(x^2 + y^2 - 4)(x^2 + 9y^2 - 9) \leq 0$

سوال ۱۰.۷۳: $4y^2 - x^2 \geq 4$

سوال ۱۰.۷۴: $\left|x^2 - y^2\right| \leq 1$

نظریہ اور مثالیں

سوال ۱۰.۷۵: قطع مکافی ٹھوس جسم کے حجم کا کلیہ آرشمیدسی

قطع مکافی $y = \frac{4h}{b^2}x^2$ اور لکیر $y = h$ میں گھیرے ہوئے خطے کو y محور کے گرد گھما کر جسم طواف پیدا کیا جاتا ہے۔ دکھائیں کہ اس جسم کا حجم مطابقتی مخروط کے حجم کا $\frac{3}{2}$ گنّا ہو گا (شکل ۱۰.۱۹)۔

سوال ۱۰.۷۶: معلق پل کی رسیاں قطع مکافی کی صورت میں لٹکی ہوتی ہیں۔

ایک معلق پل کی کمیت m کلو گرام فی میٹر ہے۔ اس پل کو رسیوں سے لٹکایا گیا ہے۔ اگر مبدا پر رسی کا افقی تناو H ہو تب رسی کی منحنی درج ذیل مساوات کو مطمئن کرتی ہے جہاں $g = 9.8\,\mathrm{m\,s^{-2}}$ ہے۔

$$\frac{\mathrm{d}y}{\mathrm{d}x} = \frac{mg}{H}x$$

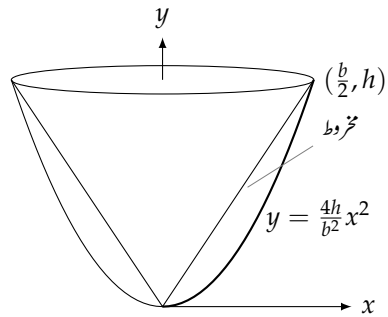

شکل ۱۰.۱۹: جسم طواف برائے سوال ۱۰.۷۵

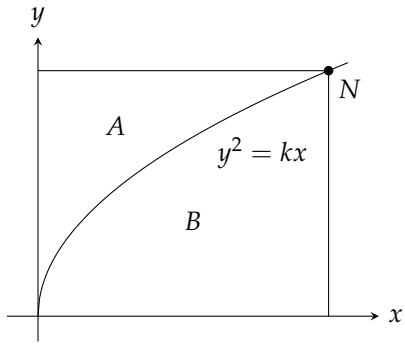

شکل ۱۰.۲۰: خطے برائے سوال ۱۰.۸۱

اس تفرقی مساوات کو حل کرتے ہوئے دکھائیں کہ رسی کی منحنی کی مساوات ایک قطع مکافی ہے۔ $x = 0$ پر $y = 0$ ابتدائی معلومات ہے۔

سوال ۱۰.۷۷: نقاط $(1,0)$ ، $(0,1)$ اور $(2,2)$ سے گزرتے دائرے کی مساوات دریافت کریں۔

سوال ۱۰.۷۸: نقاط $(2,3)$ ، $(3,2)$ اور $(-4,3)$ سے گزرتے دائرے کی مساوات دریافت کریں۔

سوال ۱۰.۷۹: ایک دائرہ جس کا مرکز $(-2,1)$ پر ہے نقطہ $(1,3)$ سے گزرتا ہے۔ کیا نقطہ $(1.1, 2.8)$ اس دائرے پر، اس کے اندر یا اس کے باہر پایا جاتا ہے؟

سوال ۱۰.۸۰: جہاں دائرہ $(x-2)^2 + (y-1)^2 = 5$ محددی محوروں کو قطع کرتا ہے وہاں اس دائرے کے مماس معلوم کریں۔

سوال ۱۰.۸۱: قطع مکافی $y^2 = kx, k > 0$ پر نقطہ N سے محددی محور کے متوازی لکیریں کھینچی جاتی ہیں۔ ان لکیروں اور محددی محوروں کے بیچ مستطیل خطہ کو قطع مکافی دو حصوں A اور B میں تقسیم کرتا ہے (شکل ۱۰.۲۰)۔ (الف) دکھائیں کہ ان خطوں کو y محور کے گرد گھما کر حاصل اجسام طواف کے حجم کی نسبت $1 : 4$ ہے۔ (ب) ان خطوں کو x محور کے گرد گھما کر حاصل اجسام طواف کے حجم کی نسبت کیا ہو گی؟

سوال ۱۰.۸۲: دکھائیں کہ لکیر $x = -p$ پر کسی بھی نقطہ سے منحنی $y^2 = 4px$ پر دو مماس، آپس میں عمودی ہوں گے۔

سوال ۱۰.۸۳: ترخیم $x^2 + 4y^2 = 4$ میں محصور زیادہ سے زیادہ رقبے کے مستطیل کے اضلاع معلوم کریں۔ مستطیل کے اضلاع محددی محور کے متوازی ہیں۔

سوال ۱۰.۸۴: ترخیم $9x^2 + 4y^2 = 36$ کو (الف) x محور، (ب) y محور کے گرد گھما کر جسم طواف پیدا کیا جاتا ہے۔ اس کا حجم معلوم کریں۔

سوال ۱۰.۸۵: ربع اول میں x محور، لکیر $x = 4$ اور قطع زائد $9x^2 - 4y^2 = 36$ کے بیچ تکونی خطہ کو x محور کے گرد گھما کر جسم طواف پیدا کیا جاتا ہے۔ اس جسم کا حجم تلاش کریں۔

سوال ۱۰.۸۶: ایک خطہ کا بایاں سرحد محور y، دایاں سرحد قطع زائد $x^2 - y^2 = 1$ جبکہ اس کا نچلا اور بالائی سرحد لکیر $y = \pm 3$ ہیں۔ اس خطہ کو y محور کے گرد گھما کر جسم طواف پیدا کیا جاتا ہے۔ اس جسم کا حجم تلاش کریں۔

سوال ۱۰.۸۷: محور x کے بالائی اور ترخیم $\frac{x^2}{9} + \frac{y^2}{16} = 1$ کے نیچے خطے کا وسطانی مرکز تلاش کریں۔

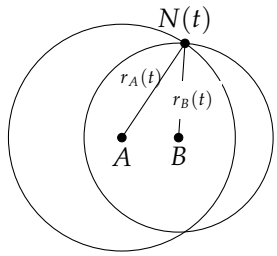

شکل ۱۰.۲۱: امواج برائے سوال ۱۰.۸۹

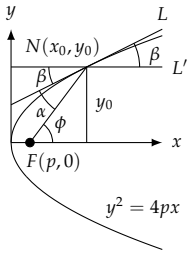

شکل ۱۰.۲۲: قطع مکافی میں انعکاس (سوال ۱۰.۹۰)

سوال ۱۰.۸۸: قطع زائد $y^2 - x^2 = 1$ کے بالائی شاخ $y = \sqrt{x^2+1},\ 0 \le x \le \sqrt{2}$ کو x محور کر گرد گھما کر سطح طواف پیدا کیا جاتا ہے۔ اس سطح کا رقبہ تلاش کریں۔

سوال ۱۰.۸۹: پانی کی سطح کو پہلے A اور بعد میں B پر چھو کر شکل ۱۰.۲۱ میں دکھائے گئے امواج پیدا کئے گئے۔ جیسے جیسے یہ امواج پھیلتے ہیں، ان کا نقطہ تقاطع ایک منحنی بناتا ہے جو قطع زائد کی طرح معلوم ہوتا ہے۔ کیا ایسا حقیقتاً ہو گا؟ یہ جاننے کے لئے ہم A اور B پر مرکز دائروں کو امواج کا نمونہ لے سکتے ہیں۔

لمحہ t پر نقطہ N مرکز A سے $r_A(t)$ اور B سے $r_B(t)$ فاصلہ پر ہو گا۔ چونکہ دائروں کے رداس ایک مستقل رفتار (موج کی رفتار) سے بڑھتے ہیں لہٰذا $\frac{\mathrm{d}r_A}{\mathrm{d}t} = \frac{\mathrm{d}r_B}{\mathrm{d}t}$ ہو گا۔ اس سے اخذ کریں کہ $r_A - r_B$ ایک مستقل ہو گا لہٰذا N اس قطع زائد پر پایا جائے گا جس کے ماسکہ A اور B ہیں۔

سوال ۱۰.۹۰: قطع مکافی کے خواص انعکاس

قطع مکافی $y^2 = 4px$ پر عمومی نقطہ $N(x_0, y_0)$ کو شکل ۱۰.۲۲ میں دکھایا گیا ہے۔ نقطہ N پر لکیر L اس قطع مکافی کا مماس ہے۔ قطع مکافی کا ماسکہ $F(p, 0)$ ہے۔ نقطہ N سے دائیں منعکس شعاع L'، محور x کے متوازی ہے۔ ہم دکھاتے ہیں کہ F سے خارج، N پر پہنچتا شعاع انعکاس کے بعد L' کا ہم مکان ہو گا۔ یہ دکھانے کی خاطر ہم دکھاتے ہیں کہ $\beta = \alpha$ ہو گا۔ اس مساوات کی تصدیق درج ذیل اقدام کے ذریعہ کریں۔

ا. دکھائیں کہ $\tan\beta = \frac{2p}{y_0}$ ہو گا۔

ب. دکھائیں کہ $\tan\phi = \frac{y_0}{x_0 - p}$ ہو گا۔

ج. درج ذیل مماثل

$$\tan\alpha = \frac{\tan\phi - \tan\beta}{1 + \tan\phi\tan\beta}$$

استعمال کرتے ہوئے دکھائیں کہ $\tan\alpha = \frac{2p}{y_0}$ ہو گا۔ چونکہ α اور β دونوں زاویہ حادہ ہیں لہٰذا $\tan\beta = \tan\alpha$ یعنی $\beta = \alpha$ ہو گا۔

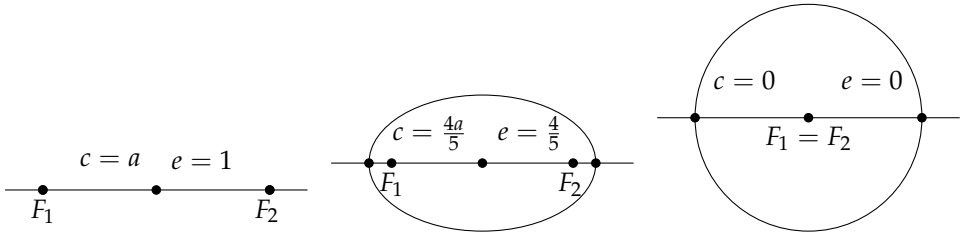

شکل ۱۰.۲۳: اگر c کو 0 سے بڑھا کر a کیا جائے تب ترخیم کی صورت دائرہ سے لکیر کی ہو جاتی ہے۔

۱۰.۲ سنک لے لحاظ سے مخروط حصوں کی جماعت بندی

ہم ہر مخروط حصہ کے ساتھ ایک عدد منسلک کر سکتے ہیں جس کو مخروط حصے کا سنک کہتے ہیں۔ سنک سے مخروط حصے کی قسم (دائرہ، ترخیم، قطع مکافی یا قطع زائد) معلوم کی جا سکتی ہے۔ ترخیم اور قطع زائد کی صورت میں یہ عدد مخروط کی عمومی جسامت کی معلومات بھی فراہم کرتا ہے۔

سنک

اگرچہ مرکز سے ماسکہ تک فاصلہ c درج ذیل مساوات میں نہیں پایا جاتا ہے

$$\frac{x^2}{a^2} + \frac{y^2}{b^2} = 1 \quad (a > b)$$

ترخیم کے لئے ہم c کو $c = \sqrt{a^2 - b^2}$ سے معلوم کر سکتے ہیں۔ اگر a کو مستقل رکھ کر c کو وقفہ $0 \leq c \leq a$ پر تبدیل کیا جائے تب حاصل ترخیم کی صورت بھی تبدیل ہو گی (شکل ۱۰.۲۳)۔ اگر $c = 0$ (یعنی $a = b$) ہو تب یہ دائرہ ہو گا جبکہ c بڑھانے سے یہ چپٹا ہو گا۔ اگر $c = a$ ہو تب راس اور ماسکے ایک دوسرے کے اوپر ہوں گے اور ترخیم ایک سیدھی لکیر کی صورت اختیار کرے گا۔

ہم c اور a کی نسبت سے ترخیم کی صورت بیان کرتے ہیں۔ یہ نسبت ترخیم کی **سنک** کہلاتی ہے۔

تعریف: ترخیم $\frac{x^2}{a^2} + \frac{y^2}{b^2} = 1,\ (a > b)$ کی **سنک**[۱۹] درج ذیل ہے۔

$$e = \frac{c}{a} = \frac{\sqrt{a^2 - b^2}}{a}$$

□

نظام شمسی میں سورج کے گرد سیاروں کا مدار ترخیمی ہے۔ جیسا جدول ۱۰.۲ میں ان مدار کے سنک سے دیکھا جا سکتا ہے یہ زیادہ تر تقریباً دائری ہیں۔ پلوٹو کا مدار بہت سنکی ہے اور اس کا سنک $e = 0.21$ ہے۔ اسی طرح عطارہ کا سنک 0.21 ہے۔ نظام شمسی کے دیگر ارکان کے مدار مزید زیادہ سنکی ہیں۔ مثال کے طور پر سیارچہ آئکارس جو تقریباً 1.4 کلومیٹر چوڑا اور سورج کے گرد 409 زمینی دنوں میں ایک چکر کاٹتا ہے کی سنک 0.83 ہے۔

[۱۹] eccentricity

جدول ۱۰.۲: سورج کے گرد سیاروں کے مداروں کی سنک

عطارہ	زہرہ	زمین	مریخ	مشتری	زحل	یورانس	نیپچون	پلوٹو
0.21	0.01	0.02	0.09	0.05	0.06	0.05	0.01	0.25

مثال ۱۰.۶: دم دار ستارہ ہالی کا مدار 36.18 فلکیاتی اکائیاں لمبا اور 9.12 فلکیاتی اکائیاں چوڑا ہے۔ فلکیاتی اکائی سے مراد زمین کے مدار کے نصف اکبر محور کی لمبائی ہے جو 149 597 870 کلو میٹر ہے۔ اس کی سنک

$$e = \frac{\sqrt{a^2 - b^2}}{a} = \frac{\sqrt{(36.18/2)^2 + (9.12/2)^2}}{36.18/2} \approx 0.97$$

□

قطع مکافی کا ایک ماسکہ اور ایک ناظمہ ہوتے ہیں جبکہ ترخیم کے دو ماسکے اور دو ناظمہ ہوتے ہیں جو محور اکبر کے متوازی، مرکز سے $\frac{a}{e}$ فاصلے پر ہوتے ہیں۔ قطع مکافی کی ایک خاصیت درج ذیل ہے

$$NF = 1 \cdot ND \tag{۱}$$

یعنی ترخیم پر کسی بھی نقطہ N کا ماسکہ سے فاصلہ اور N کا ناظمہ پر قریبی نقطہ D سے فاصلہ ایک سا ہو گا۔ ترخیم کے لئے یہ دکھایا جا سکتا ہے کہ مساوات ۱ کی جگہ درج ذیل ہو گا۔

$$NF_1 = e \cdot ND_1, \qquad NF_2 = e \cdot ND_2 \tag{۲}$$

یہاں e سنک ہے، N ترخیم پر کوئی نقطہ ہے، F_1 اور F_2 ماسکے ہیں اور ناظمہ پر N کے قریب ترین نقطے D_1 اور D_2 ہیں (شکل ۱۰.۲۴)۔

مساوات ۲ کے دونوں اجزاء میں ماسکہ اور ناظمہ میں مطابقت لازمی ہے، یعنی، اگر ہم N سے F_1 تک فاصلہ لیں تب ہم N سے ناظمہ تک فاصلہ لیتے ہوئے ترخیم کا وہ ناظمہ لیں گے جو ترخیم کے اسی ہاتھ ہو۔ ناظمہ $x = -\frac{a}{e}$ اور ماسکہ $F_1(-c, 0)$ مطابقت رکھتے ہیں جبکہ ناظمہ $x = \frac{a}{e}$ اور ناظمہ $F_2(c, 0)$ مطابقت رکھتے ہیں۔

قطع زائد کا سنک بھی $e = \frac{c}{a}$ ہے، البتہ اب c کی قیمت $\sqrt{a^2 + b^2}$ نا کہ $\sqrt{a^2 - b^2}$ ہو گی۔ مزید ترخیم کے سنک کے برعکس، قطع زائد کا سنک ہر صورت 1 سے زیادہ ہو گی۔

تعریف: قطع زائد $\frac{x^2}{a^2} - \frac{y^2}{b^2} = 1$ کا سنک درج ذیل ہو گا۔

$$e = \frac{c}{a} = \frac{\sqrt{a^2 + b^2}}{a}$$

□

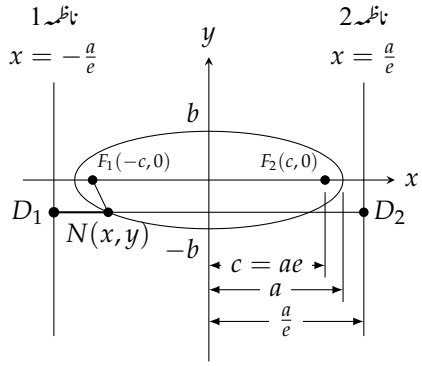

شکل ۱۰.۲۴: ترخیم $\frac{x^2}{a^2} + \frac{y^2}{b^2} = 1$ کے ناظمہ اور ماسکے۔ ناظمہ 1 کا مطابقتی ماسکہ F_1 ہے جبکہ ناظمہ 2 کا مطابقتی ماسکہ F_2 ہے۔

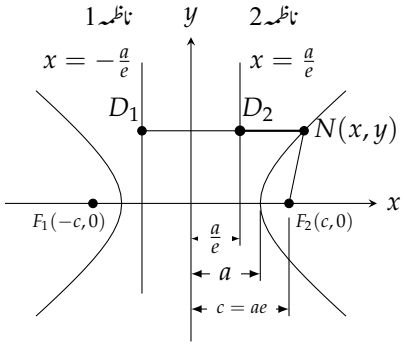

شکل ۱۰.۲۵: قطع زائد $\frac{x^2}{a^2} - \frac{y^2}{b^2} = 1$ کے ماسکے اور ناظمہ۔ قطع زائد پر ہر N کے لئے $NF_1 = e \cdot ND_1$ اور $NF_2 = e \cdot ND_2$ ہوں گے۔

۱۰۰۶۱ ترخیم اور قطع زائد دونوں میں ماسکوں کے بیچ فاصلہ اور راس کے بیچ فاصلہ کا نسبت، سنک کے برابر ہوگا۔

$$\text{سنک} = \frac{\text{فاصلہ بیچ کے ماسکوں}}{\text{فاصلہ بیچ کے راس}}$$

۱۰۰۶۲ ترخیم میں راس دور اور ماسکے قریب ہوتے ہیں اور ان کی نسبت 1 سے کم ہوتی ہے۔ قطع مکافی میں ماسکے دور اور راس قریب ہوتے ہیں لہٰذا سنک 1 سے زیادہ
۱۰۰۶۳ ہوتا ہے۔

۱۰۰۶۴ مثال ۱۰.۷: ایک ترخیم کا سنک 0.8 اور ماسکے $(0, \pm 7)$ ہیں۔ اس کے راس تلاش کریں۔

۱۰۰۶۵ حل: چونکہ $e = \frac{c}{a}$ ہے لہٰذا راس $(0, \pm a)$ پر ہوں گے جہاں

$$a = \frac{c}{e} = \frac{7}{0.8} = 8.75$$

۱۰۰۶۶ یعنی $(0, \pm 8.75)$ ہوگا۔ □

۱۰۰۶۷ مثال ۱۰.۸: قطع زائد $9x^2 - 16y^2 = 144$ کا سنک معلوم کریں۔

۱۰۰۶۸ حل: ہم قطع زائد کی مساوات کے دونوں اطراف کو 144 سے تقسیم کر کے معیاری مساوات حاصل کرتے ہیں۔

$$\frac{9x^2}{144} - \frac{16y^2}{144} = 1, \quad \Longrightarrow \quad \frac{x^2}{16} - \frac{y^2}{9} = 1$$

یوں $a^2 = 16$ اور $b^2 = 9$ ہیں لہٰذا $c = \sqrt{a^2 + b^2} = \sqrt{16 + 9} = 5$ ہو گا جس سے درج ذیل ملتا ہے۔

$$e = \frac{c}{a} = \frac{5}{4}$$

□

ترخیم کی طرح یہاں بھی دکھایا جا سکتا ہے کہ لکیریں $x = \pm \frac{a}{e}$ قطع زائد کے ناظمہ ہوں گے، یعنی:

$$NF_1 = e \cdot ND_1, \quad NF_2 = e \cdot ND_2 \tag{۳}$$

یہاں قطع زائد پر N کوئی نقطہ ہے، F_1 اور F_2 ماسکے ہیں جبکہ ناظمہ پر N کے قریب ترین نقطے D_1 اور D_2 ہیں (شکل ۱۰.۲۵)۔

تصویر مکمل کرنے کی خاطر ہم قطع مکافی کے سنک کی تعریف $e = 1$ لیتے ہیں۔ مساوات ۱ تا مساوات ۳ کو یوں ایک ہی روپ $NF = e \cdot ND$ میں لکھا جا سکتا ہے۔

تعریف: قطع مکافی کا سنک $e = 1$ ہے۔

□

ماسکہ اور ناظمہ کی مساوات $NF = e \cdot ND$، قطع مکافی، ترخیم اور قطع زائد کو ایک دوسرے کے ساتھ درج ذیل طریقہ سے ملاتی ہے۔ فرض کریں نقطہ N سے کسی مقررہ لکیر (ناظمہ) تک فاصلہ ضرب e اس نقطے سے کسی مقررہ نقطہ F (ماسکہ) کے فاصلہ کے برابر ہو یعنی:

$$NF = e \cdot ND \tag{۴}$$

جہاں e ایک مستقل ہے۔ تب N درج ذیل راہ کھینچے گا۔

ا. قطع مکافی اگر $e = 1$ ہو،

ب. ترخیم اگر $1 >$ ہو،

ج. قطع زائد اگر $e > 1$ ہو۔

مساوات ۴ ظاہری طور پر زیادہ دلچسپ نظر نہیں آتی ہے۔ اس میں کوئی محدد نہیں پائے جاتے ہیں اور اس کو محددی روپ میں لکھنے سے، e کی قیمت پر منحصر، مختلف مساوات حاصل ہوتے ہیں۔ کم از کم کارتیسی محدد میں ایسا ہوتا ہے۔ البتہ جیسا ہم حصہ ۱۰.۸ میں دیکھیں گے، قطبی محدد میں، e کی قیمت سے قطع نظر، مساوات $NF = e \cdot ND$ کی ترجمانی ایک ہی انتہائی سادہ مساوات کرتی ہے جو تقریباً 300 سالوں سے فلکی سائنسدانوں کی پسندیدہ مساوات رہی ہے۔

ایک قطع مکافی جس کا مرکز مبدا پر ہو کا x محور پر ماسکہ اور مطابقتی ناظمہ جانتے ہوئے ہم شکل سے e کی قیمت معلوم کر سکتے ہیں۔ سنک e کی قیمت جانتے ہوئے ہم کارتیسی نظام میں قطع زائد کی مساوات کو، اگلی مثال کی طرح، مساوات $NF = e \cdot ND$ سے حاصل کر سکتے ہیں۔ ہم اسی طرح شکل ۱۰.۲۴ کی مدد سے اس ترخیم کی مساوات بھی کارتیسی محدد میں حاصل کر سکتے ہیں جس کا مرکز مبدا پر اور ماسکے x محور پر ہوں۔

مثال ۱۰.۹: ایک قطع زائد جس کا مرکز مبدا پر ہے کا ماسکہ $(3, 0)$ اور مطابقتی ناظمہ $x = 1$ ہے۔ اس قطع زائد کی مساوات تلاش کریں۔

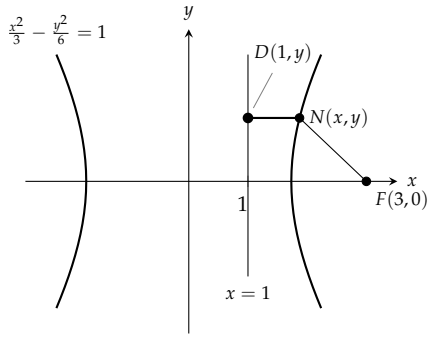

شکل ۱۰.۲۶: قطع زائد برائے مثال ۱۰.۹

۱۶۰۹۱ حل: ہم شکل ۱۰.۲۵ کو دیکھ کر اس کا سنک معلوم کرتے ہیں۔ چونکہ ماسکہ $(c, 0) = (3, 0)$ ہے لہٰذا $c = 3$ ہو گا۔ ناظمہ درج ذیل لکیر ہو گی

$$x = \frac{a}{e} = 1$$

۱۶۰۹۲ لہٰذا $a = e$ ہو گا۔ سنک کی مساوات $e = \frac{c}{a}$ کے ساتھ ملا کر $e = \frac{c}{a} = \frac{3}{e}$ لہٰذا $e^2 = 3$ یعنی $e = \sqrt{3}$ حاصل ہوتا ہے۔ سنک e

۱۶۰۹۳ جانتے ہوئے ہم شکل ۱۰.۲۶ کو دیکھ کر $NF = e \cdot ND$ سے مساوات حاصل کرتے ہیں۔

$$\begin{aligned}
NF &= e \cdot ND && \text{مساوات ۴} \\
\sqrt{(x-3)^2 + (y-0)^2} &= \sqrt{3}|x-1| && e = \sqrt{3} \\
x^2 - 6x + 9 + y^2 &= 3(x^2 - 2x + 1) \\
2x^2 - y^2 &= 6 \\
\frac{x^2}{3} - \frac{y^2}{6} &= 1
\end{aligned}$$

۱۶۰۹۴ □

۱۶۰۹۵ **سوالات**

۱۶۰۹۶ **ترخیم**

۱۶۰۹۷ سوال ۱۰.۹۱ تا سوال ۱۰.۹۸ میں ترخیم کا سنک تلاش کریں۔ اس کے بعد ترخیم کے ماسکے اور ناظمہ تلاش کر کے ترسیم کریں۔

۱۶۰۹۸ سوال ۱۰.۹۱: $16x^2 + 25y^2 = 400$

۱۶۰۹۹ سوال ۱۰.۹۲: $7x^2 + 16y^2 = 112$

سوال ۱۰.۹۳: $2x^2 + y^2 = 2$

سوال ۱۰.۹۴: $2x^2 + y^2 = 4$

سوال ۱۰.۹۵: $3x^2 + 2y^2 = 6$

سوال ۱۰.۹۶: $9x^2 + 10y^2 = 90$

سوال ۱۰.۹۷: $6x^2 + 9y^2 = 54$

سوال ۱۰.۹۸: $169x^2 + 25y^2 = 4225$

سوال ۱۰.۹۹ تا سوال ۱۰.۱۰۲ میں ترخیم کے ماسکے یا راس اور سنک دیا گیا ہے۔ ترخیم xy مستوی میں پایا جاتا ہے اور اس کا مرکز مبدا پر ہے۔ ان میں ترخیم کی معیاری مساوات حاصل کریں۔

سوال ۱۰.۹۹: ماسکے $(0, \pm 3)$ اور سنک 0.5

سوال ۱۰.۱۰۰: ماسکے $(\pm 8, 0)$ اور سنک 0.2

سوال ۱۰.۱۰۱: راس $(0, \pm 70)$ اور سنک 0.1

سوال ۱۰.۱۰۲: راس $(\pm 10, 0)$ اور سنک 0.24

سوال ۱۰.۱۰۳ تا سوال ۱۰.۱۰۶ میں ترخیم کے ماسکے اور مطابقتی ناظمہ دیے گئے ہیں۔ ترخیم xy مستوی میں پایا جاتا ہے اور اس کا مرکز مبدا پر ہے۔ شکل ۱۰.۲۴ کو دیکھ کر ترخیم کا سنک معلوم کریں۔ اس کے بعد ترخیم کی معیاری مساوات حاصل کریں۔

سوال ۱۰.۱۰۳: ماسکہ $(\sqrt{5}, 0)$، ناظمہ $x = \frac{9}{\sqrt{5}}$

سوال ۱۰.۱۰۴: ماسکہ $(4, 0)$، ناظمہ $x = \frac{16}{3}$

سوال ۱۰.۱۰۵: ماسکہ $(-4, 0)$، ناظمہ $x = -16$

سوال ۱۰.۱۰۶: ماسکہ $(-\sqrt{2}, 0)$، ناظمہ $x = -2\sqrt{2}$

سوال ۱۰.۱۰۷: ایک ترخیم جس کا سنک $\frac{4}{5}$ ہو کو ترسیم کریں۔ اپنی حکمت عملی کی وضاحت کریں۔

سوال ۱۰.۱۰۸: سیارہ پلوٹو (جس کا سنک 0.25 ہے) کا مدار ترسیم کریں۔ اپنی حکمت عملی کی وضاحت کریں۔

سوال ۱۰.۱۰۹: ایک ترخیم کے آخری سر $(1, 1)$ ، $(3, 4)$ ، $(1, 7)$ اور $(-1, 4)$ ہیں۔ اس ترخیم کا خاکہ کھینچیں، اس کی معیاری مساوات، ماسکے، سنک اور ناظمہ تلاش کریں۔

سوال ۱۰.۱۱۰: ایک ترخیم کا سنک $\frac{2}{3}$ جبکہ لکیر $x = 9$ اس کی ناظمہ اور $(4, 0)$ مطابقتی ماسکہ ہے۔ اس ترخیم کی مساوات تلاش کریں۔

سوال ۱۰.۱۱۱: درج ذیل ترخیم a ، b اور c کی کن قیمتوں کے لئے مبدا پر x محور کے متوازی ہوگا اور نقطہ $(-1,2)$ سے گزرے گا؟

$$4x^2 + y^2 + ax + by + c = 0$$

اس ترخیم کا سنک کیا ہے؟

سوال ۱۰.۱۱۲: ترخیم کی خاصیت انعکاس

ایک ترخیم کو اس کے محور اکبر کے گرد گھما کر جسم طواف پیدا کیا جاتا ہے۔ اس ترخیمی جسم کی اندرونی سطح پر چاندی لگا کر ترخیمی آئینہ بنایا جاتا ہے۔ دکھائیں کہ اس ترخیمی آئینہ کے ایک ماسکہ سے خارج شعاع انعکاس کے بعد دوسرے ماسکہ پر پہنچتا ہے۔ صدا بھی اسی راہ کو اپناتا ہے۔ اس حقیقت کو بروئے کار لاتے ہوئے کمرہ سرگوشی بنایا جاتا ہے۔ (اشارہ: ترخیم کو xy مستوی پر معیاری مقام پر رکھ کر دکھائیں کہ کسی بھی نقطہ N سے دونوں ماسکوں تک لکیر، N پر ترخیم کے مماس کے ساتھ ایک سے زاویے بناتے ہیں۔)

قطع زائد

سوال ۱۰.۱۱۳ تا سوال ۱۰.۱۲۰ میں قطع زائد کا سنک تلاش کریں۔ اس کے بعد قطع زائد کے ماسکہ اور ناظمہ معلوم کر کے ترسیم کریں۔

سوال ۱۰.۱۱۳: $x^2 - y^2 = 1$

سوال ۱۰.۱۱۴: $9x^2 - 16y^2 = 144$

سوال ۱۰.۱۱۵: $y^2 - x^2 = 8$

سوال ۱۰.۱۱۶: $y^2 - x^2 = 4$

سوال ۱۰.۱۱۷: $8x^2 - 2y^2 = 16$

سوال ۱۰.۱۱۸: $y^2 - 3x^2 = 3$

سوال ۱۰.۱۱۹: $8y^2 - 2x^2 = 16$

سوال ۱۰.۱۲۰: $64x^2 - 36y^2 = 2304$

سوال ۱۰.۱۲۱ تا سوال ۱۰.۱۲۴ میں قطع زائد کا سنک اور راس یا ماسکے دیے گئے ہیں۔ یہ قطع زائد xy مستوی میں پائے جاتے ہیں جن کا مرکز مبدا پر ہے۔ ان قطع زائد کی معیاری مساوات تلاش کریں۔

سوال ۱۰.۱۲۱: سنک 3 راس $(0, \pm 1)$

سوال ۱۰.۱۲۲: سنک 2 راس $(\pm 2, 0)$

سوال ۱۰.۱۲۳: سنک 3 ماسکے $(\pm 3, 0)$

سوال ۱۰.۱۲۴: سنک 1.25 ماسکے $(0, \pm 5)$

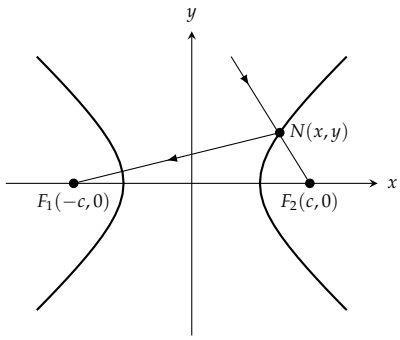

شکل ۱۰.۲۷: قطع زائد برائے سوال ۱۰.۱۳۱

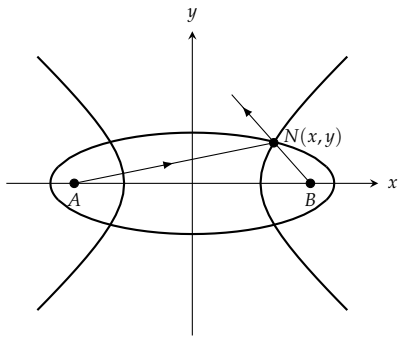

شکل ۱۰.۲۸: قطع زائد اور ترخیم برائے سوال ۱۰.۱۳۲

سوال ۱۰.۱۲۵ تا سوال ۱۰.۱۲۸ میں قطع زائد کے ماسکے اور مطابقتی ناظمہ دیے گئے ہیں۔ یہ قطع زائد xy مستوی میں پائے جاتے ہیں اور ان کا مرکز مبدا پر پایا جاتا ہے۔ قطع زائد کا سنک اور معیاری مساوات تلاش کریں۔

سوال ۱۰.۱۲۵: ماسکہ $(4,0)$، ناظمہ $x = 2$

سوال ۱۰.۱۲۶: ماسکہ $(\sqrt{10},0)$، ناظمہ $x = \sqrt{2}$

سوال ۱۰.۱۲۷: ماسکہ $(-2,0)$، ناظمہ $x = -\frac{1}{2}$

سوال ۱۰.۱۲۸: ماسکہ $(-6,0)$، ناظمہ $x = -2$

سوال ۱۰.۱۲۹: ایک قطع زائد کا سنک $\frac{3}{2}$ اور ایک ماسکہ $(1,-3)$ ہے۔ اس کا مطابقتی ناظمہ لکیر $y = 2$ ہے۔ اس قطع زائد کی مساوات تلاش کریں۔

سوال ۱۰.۱۳۰: سنک کا قطع زائد کی صورت پر اثر

سنک بڑھانے سے قطع زائد کی صورت پر کیا اثر ہو گا؟ یہ جاننے کے لئے مساوات $\frac{x^2}{a^2} - \frac{y^2}{b^2} = 1$ کو a اور b کے بجائے a اور e کی صورت میں لکھیں۔ مختلف e کی قیمتوں کے لئے قطع زائد ترسیم کریں (a مستقل لیں)۔

سوال ۱۰.۱۳۱: قطع زائد کی خاصیت انعکاس

دکھائیں کہ قطع زائد کے ایک ماسکہ کی طرف گامزن شعاع، قطع زائد سے انعکاس کے بعد دوسرے ماسکہ پر پہنچتا ہے (شکل ۱۰.۲۷)۔ (اشارہ: دکھائیں کہ نقطہ N پر قطع زائد کا مماس قطعہ NF_1 اور NF_2 کے بیچ زاویہ کو نصف میں تقسیم کرتا ہے۔)

سوال ۱۰.۱۳۲: ہم ماسکہ ترخیم اور قطع زائد

دکھائیں کہ ایک ترخیم اور قطع زائد جن کے ایک سے ماسکے A اور B ہوں، ایک دوسرے کو 90 درجہ پر قطع کرتے ہیں (شکل ۱۰.۲۸)۔ (اشارہ: ماسکہ A سے خارج شعاع قطع زائد کے نقطہ N پر پہنچ کر قطع زائد سے یوں منعکس ہو گا جیسا یہ شعاع ماسکہ B سے خارج ہوا ہو (سوال ۱۰.۱۳۱)۔ یہی شعاع ترخیم سے منعکس ہو کر ماسکہ B پر پہنچتا ہے (سوال ۱۰.۱۱۲)۔)

۱۰.۳ دو درجی مساوات اور گھومنا

ہم اس حصہ میں تحلیلی جیومیٹری کی اس حیرت کن نتیجہ پر غور کریں گے کہ درج ذیل مساوات کی کارتیسی ترسیم

$$Ax^2 + Bxy + Cy^2 + Dx + Ey + F = 0 \tag{۱}$$

جہاں A ، B ، C اور D بیک وقت تمام صفر نہ ہوں، تقریباً ہر بار مخروطی حصہ ہو گا۔ ایسا تب نہیں ہوتا جب یا ترسیم ہی نہ پائی جاتی ہو اور یا جب ترسیم دو متوازی لکیروں پر مشتمل ہو۔ مساوات ۱ کی تمام ترسیمات، چاہیں وہ قوسی ہو یا نہیں، **دو درجی منحنیات**[۲۰] کہلاتی ہیں۔

جزو Bxy

آپ نے دیکھا کہ حصہ ۱.۱۰ میں مخروطی حصوں کی مساواتوں میں جزو Bxy نہیں پایا جاتا، چونکہ ان کے محور، محددی نظام کے محور کے متوازی (بلکہ ہم مکان) ہیں۔

مخروط حصہ کے محور، محددی محور کے غیر متوازی ہونے کی صورت کو دیکھنے کی خاطر ہم ایک قطع زائد کی مساوات حاصل کرتے ہیں جس کا $a = 3$ ہو اور جس کے ماسکے $F_1(-3,-3)$ اور $F_2(3,3)$ ہوں (شکل ۱۰.۲۹)۔ مساوات $|NF_1 - NF_2| = 2a$ اب $|NF_1 - NF_2| = 2(3) = 6$ یا

$$\sqrt{(x+3)^2 + (y+3)^2} - \sqrt{(x-3)^2 + (y-3)^2} = \pm 6$$

روپ اختیار کرتا ہے۔ ہم ایک جذر کو دوسرے ہاتھ منتقل کر کے دونوں اطراف کا مربع لے کر حاصل واحد جذر کو اکیلے ایک طرف رکھ کر دونوں اطراف کا مربع لے کر

$$2xy = 9 \tag{۲}$$

حاصل کرتے ہیں جو مساوات ۱ کی ایک روپ ہے جس میں جزو Bxy پایا جاتا ہے۔ مساوات ۲ میں دیے گئے قطع زائد کے متقارب x اور y محور ہیں، جبکہ اس کا محور ماسکہ مثبت x محور کے ساتھ $\frac{\pi}{4}$ ریڈیئن زاویہ بناتا ہے۔ اس مثال کی طرح مساوات ۱ میں جزو Bxy صرف اس صورت پایا جاتا ہے جب مخروط کے محور ترچھے ہوں۔

محددی محور گھمانے سے جزو Bxy سے نجات

مخروط کی مساوات سے جزو Bxy ہٹانے کی خاطر ہم محددی محور کر گھما کر مخروط کے محور کو محددی محور کے متوازی بناتے ہیں۔ گھمانے کی مساواتوں کو ہم درج ذیل طریقہ سے حاصل کرتے ہیں۔ شکل ۱۰.۳۰ میں گھڑی کی سوئیوں کے گھومنے کی الٹ رخ، مبدا کے گرد زاویہ α گھمانا دکھایا گیا ہے۔ اس شکل سے درج ذیل لکھا جا سکتا ہے۔

$$\begin{aligned} x &= OM = ON\cos(\theta+\alpha) = ON\cos\theta\cos\alpha - ON\sin\theta\sin\alpha \\ y &= MN = ON\sin(\theta+\alpha) = ON\cos\theta\sin\alpha + ON\sin\theta\cos\alpha \end{aligned} \tag{۳}$$

---

[۲۰] quadraticcurves

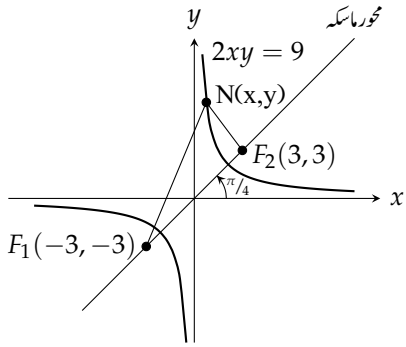

شکل ۱۰.۲۹: قطع زائد $2xy = 9$ کا محور ماسکہ، مثبت x محور کے ساتھ $\frac{\pi}{4}$ زاویہ بناتا ہے۔

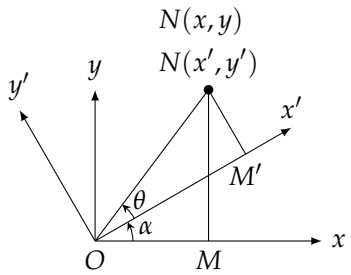

شکل ۱۰.۳۰: مبدا کے گرد گھڑی کی الٹ رخ محور کو α زاویہ گھمانا۔

۱۶۹۲ چونکہ

$$ON\cos\theta = OM' = x'$$

۱۶۹۳ اور

$$ON\sin\theta = M'N = y'$$

۱۶۹۴ ہیں لہٰذا مساوات ۳ درج ذیل دیں گے۔

۱۶۹۵ **محددی محور مبدا کے گرد گھمانے کی مساواتیں**

$$\begin{aligned} x &= x'\cos\alpha - y'\sin\alpha \\ y &= x'\sin\alpha + y'\cos\alpha \end{aligned} \tag{۴}$$

۱۶۹۶ مثال ۱۰.۱۰: مبدا کے گرد، گھڑی کے الٹ رخ، x اور y محور کو $\frac{\pi}{4}$ ریڈیئن گھمایا جاتا ہے۔ قطع زائد $2xy = 9$ کا ان نئے محور میں مساوات
۱۶۹۷ تلاش کریں۔

۱۶۹۸ حل: چونکہ $\cos\frac{\pi}{4} = \sin\frac{\pi}{4} = \frac{1}{\sqrt{2}}$ لہٰذا ہم مساوات ۴ سے

$$x = \frac{x' - y'}{\sqrt{2}}, \quad y = \frac{x' + y'}{\sqrt{2}}$$

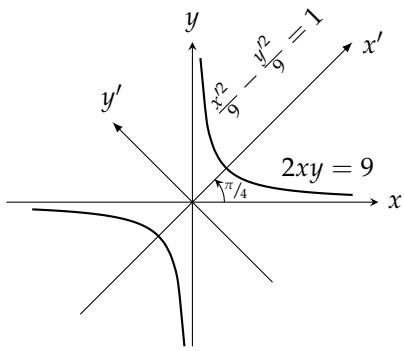

شکل ۱۰.۳۱: نئے محور x' اور y' میں قطع زائد کی مساوات (مثال ۱۰.۱۰)

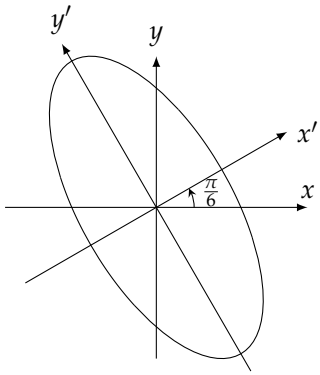

شکل ۱۰.۳۲: مخروط کو $\frac{\pi}{6}$ زاویہ گھڑی کے الٹ رخ گھمایا گیا ہے (مثال ۱۰.۱۱)

۱۶۱۹۹ کو $2xy = 9$ میں پر کر کے درج ذیل حاصل کرتے ہیں (شکل ۱۰.۳۱)۔

$$
\begin{aligned}
2\left(\frac{x'-y'}{\sqrt{2}}\right)\left(\frac{x'+y'}{\sqrt{2}}\right) &= 9\\
x'^2 - y'^2 &= 0\\
\frac{x'^2}{9} - \frac{y'^2}{9} &= 1
\end{aligned}
$$

۱۶۲۰۰ □

۱۶۲۰۱ دو درجی مساوات اپر مساوات ۱۴ کو کرنے سے درج ذیل نئی دو درجی مساوات حاصل ہوتی ہے

$$A'x'^2 + B'x'y' + C'y'^2 + D'x' + E'y' + F' = 0 \tag{۵}$$

۱۶۲۰۲ جہاں پرانے اور نئے مستقلوں کے رشتے درج ذیل ہوں گے۔

$$
\begin{aligned}
A' &= A\cos^2\alpha + B\cos\alpha\sin\alpha + C\sin^2\alpha\\
B' &= B\cos 2\alpha + (C - A)\sin 2\alpha\\
C' &= A\sin^2\alpha - B\sin\alpha\cos\alpha + C\cos^2\alpha\\
D' &= D\cos\alpha + E\sin\alpha\\
E' &= -D\sin\alpha + E\cos\alpha\\
F' &= F
\end{aligned} \tag{۶}
$$

۱۲۰۳ یہ مساوات دیگر معلومات کے ساتھ ہمیں $B' = 0$ کے حصول کا طریقہ بھی دیتے ہیں۔ یوں Bxy جزو والی مساوات سے شروع کر کے ہم اس کو زاویہ
۱۲۰۴ α گھما کر ایسی دو درجی مساوات حاصل کر سکتے ہیں جس میں $B'xy$ کا جزو نہیں پایا جاتا ہو۔ ایسا زاویہ جاننے کے لئے ہم مساوات ۶ میں $B' = 0$ لے کر
۱۲۰۵ α کے حاصل مساوات

$$B\cos 2\alpha + (C - A)\sin 2\alpha = 0$$

۱۲۰۶ کو α کے لئے حل کرتے ہیں۔ یوں ہمیں درحقیقت مندرجہ ذیل دو مساوات میں سے کسی ایک کا حل درکار ہو گا۔

$$\cot 2\alpha = \frac{A - C}{B}, \quad \tan 2\alpha = \frac{B}{A - C} \tag{۷}$$

۱۲۰۷ مثال ۱۰.۱۱: درج ذیل دو درجی مساوات میں $\sqrt{3}xy$ کے جزو کے خاتمہ کے لئے محددی محور کو زاویہ α گھمایا جاتا ہے۔ اس زاویہ کو تلاش کریں۔

$$2x^2 + \sqrt{3}xy + y^2 - 10 = 0$$

۱۲۰۸ نئی مساوات تلاش کریں اور اس کو پہچانیں۔

۱۲۰۹ حل: دی گئی مساوات میں $A = 2$ ، $B = \sqrt{3}$ اور $C = 1$ ہیں۔ مساوات ۷ میں ان قیمتوں کو پر کر کے α معلوم کرتے ہیں۔

$$\cot 2\alpha = \frac{A - C}{B} = \frac{2 - 1}{\sqrt{3}} = \frac{1}{\sqrt{3}}, \implies 2\alpha = \frac{\pi}{3}$$

۱۲۱۰ یوں $\alpha = \frac{\pi}{6}$ ، $A = 2$ ، $B = \sqrt{3}$ ، $C = 1$ ، $D = E = 0$ اور $F = -10$ کو مساوات ۶ میں پر کر کے

$$A' = \frac{5}{2},\ B' = 0,\ C' = \frac{1}{2},\ D' = E' = 0,\ F' = -10$$

۱۲۱۱ حاصل ہوں گے اور مساوات ۵ درج ذیل دے گا۔

$$\frac{x'^2}{4} + \frac{y'^2}{20} = 1 \quad \text{یا} \quad \frac{5}{2}x'^2 + \frac{1}{2}y'^2 - 10 = 0$$

۱۲۱۲ یہ منحنی ترخیم ہے جس کے ماسکے نئی y' محور پر پائے جاتے ہیں (شکل ۱۰.۳۲)۔ □

۱۲۱۳ **دو درجی مساوات کے ممکنہ ترسیمات**

۱۲۱۴ ہم اب عمومی دو درجی مساوات کی ترسیمات پر آتے ہیں۔

۱۲۱۵ چونکہ محور کو گھما کر Bxy طرز کے جزو کو ہٹایا جا سکتا ہے لہٰذا ہم تصور کرتے ہیں کہ یہی کرتے ہوئے درج ذیل عمومی دو درجی مساوات حاصل کی گئی ہے

$$Ax^2 + Cy^2 + Dx + Ey + F = 0 \tag{۸}$$

۱۲۱۶ جہاں A' تا F' کو بالترتیب A تا F لکھا گیا ہے۔ مساوات ۸ درج ذیل کو ظاہر کرتی ہے۔

۱۶۲۱۷ ا. جب $A = C \neq 0$ ہو تب دائرہ (مخصوص حالات میں یہ نقطہ مانند ہو سکتا ہے یا اس کی کوئی ترسیم نہیں ہو گی۔)

۱۶۲۱۸ ب. اگر مساوات ۸ ایک متغیر میں خطی اور دوسرے میں دو درجی ہو تب یہ قطع مکافی کو ظاہر کرتی ہے۔

۱۶۲۱۹ ج. اگر A اور C دونوں مثبت یا دونوں منفی ہوں تب یہ ترخیم کو ظاہر کرتی ہے۔ (مخصوص حالات میں یہ دائرہ، واحد نقطہ دے سکتی ہے یا اس کی کوئی ترسیم
۱۶۲۲۰ نہیں ہو سکتی ہے۔)

۱۶۲۲۱ د. اگر A اور C کی علامتیں ایک دوسرے کی الٹ ہوں تب یہ قطع زائد کو ظاہر کرتی ہے۔ (مخصوص حالات میں یہ دو منقطع لکیروں کو ظاہر کر سکتی ہے۔)

۱۶۲۲۲ ھ. اگر A اور C دونوں صفر ہوں جبکہ D اور E میں سے کم از کم ایک غیر صفر ہو تب یہ سیدھی لکیر کو ظاہر کرتی ہے۔

۱۶۲۲۳ و. اگر مساوات ۸ کے بائیں ہاتھ کو دو خطی اجزاء کا حاصل ضرب لکھنا ممکن ہو تب یہ ایک یا دو سیدھی لکیروں کو ظاہر کرتی ہے۔

۱۶۲۲۴ دو درجی ترسیمات کی مثالوں کے لئے صفحہ ۱۰۵۳ پر جدول ۱۰.۳ دیکھیں۔

۱۶۲۲۵ **ممیز پرکھ**

۱۶۲۲۶ درج ذیل مساوات کی قسم جاننے کے لئے ہمیں اس کا جزو Bxy ہٹانے کی ضرورت نہیں۔

$$Ax^2 + Bxy + Cy^2 + Dx + Ey + F = 0 \tag{۹}$$

۱۶۲۲۷ اگر ہمیں یہی معلومات درکار ہو تب ہم درج ذیل پرکھ بروئے کار لا سکتے ہیں۔

۱۶۲۲۸ جیسا ہم دیکھ چکے، $B \neq 0$ کی صورت میں ہم محددی محور کو مبدا کے گرد α زاویہ گھما کر جہاں α درج ذیل مساوات

$$\cot 2\alpha = \frac{A - C}{B} \tag{۱۰}$$

۱۶۲۲۹ کو مطمئن کرتا ہو، مساوات ۹ کو درج ذیل روپ میں بدلتا ہے

$$A'x'^2 + C'y'^2 + D'x'E'y' + F' = 0 \tag{۱۱}$$

۱۶۲۳۰ جس میں Bxy طرز کا جزو نہیں پایا جاتا ہے۔

۱۶۲۳۱ اب مساوات ۱۱ کی ترسیم (حقیقی یا انحطاطی) درج ذیل ہو سکتی ہیں۔

۱۶۲۳۲ ا. اگر $A' = 0$ یا $C' = 0$ یعنی $A'C' = 0$ ہو تب قطع مکافی،

۱۶۲۳۳ ب. اگر A' اور C' کی علامتیں ایک دوسری جیسی ہوں یعنی اگر $A'C' > 0$ ہو تب ترخیم،

۱۶۲۳۴ ج. اور اگر A' اور C' کی علامتیں ایک دوسری کی الٹ ہوں یعنی اگر $A'C' < 0$ ہو تب قطع زائد۔

۱۶۲۳۵ مساوات ۶ سے کسی بھی زاویہ کے لئے

$$B^2 - 4AC = B'^2 - 4A'C' \tag{۱۲}$$

حاصل ہوتا ہے۔ یوں محددی محور گھمانے سے مقدار $B^2 - 4AC$ تبدیل نہیں ہوتی ہے البتہ مساوات ۱۰ کو مطمئن کرتا زاویہ α سے محور گھمانے سے B' صفر اور درج ذیل حاصل ہو گا۔

$$B^2 - 4AC = -4A'C'$$

چونکہ $A'C' = 0$ کی صورت میں ترسیم قطع مکافی، $A'C' > 0$ کی صورت میں ترخیم اور $A'C' < 0$ کی صورت میں قطع زائد ہو گی لہٰذا $B^2 - 4AC = 0$ کی صورت میں ترسیم لازمی طور پر قطع مکافی، $B^2 - 4AC < 0$ کی صورت میں ترخیم اور $B^2 - 4AC > 0$ کی صورت میں قطع زائد۔ عدد $B^2 - 4AC$ کو مساوات ۹ کا **ممیز**[۲۱] کہتے ہیں۔

ممیز پرکھ

یہ جانتے ہوئے کہ کبھی کبھار انحطاطی صورت پائی جائے گی، درج ذیل دو قدری مساوات

$$Ax^2 + Bxy + Cy^2 + Dx + Ey + F = 0$$

ا. $B^2 - 4AC = 0$ کی صورت میں ترخیم،

ب. $B^2 - 4AC < 0$ کی صورت میں قطع مکافی اور

ج. $B^2 - 4AC > 0$ کی صورت میں قطع زائد کو ظاہر کرے گی۔

□

مثال ۱۰.۱۲: (الف) درج ذیل کی وجہ سے $3x^2 - 6xy + 3y^2 + 2x - 7 = 0$ قطع مکافی کو ظاہر کرتی ہے۔

$$B^2 - 4AC = (-6)^2 - 4(3)(3) = 36 - 36 = 0$$

(ب) درج ذیل کی وجہ سے $x^2 + xy + y^2 - 1 = 0$ ترخیم کو ظاہر کرتی ہے۔

$$B^2 - 4AC = (1)^2 - 4(1)(1) = -3 < 0$$

(ج) درج ذیل کی وجہ سے $xy - y^2 - 5y + 1 = 0$ قطع زائد کو ظاہر کرتی ہے۔

$$B^2 - 4AC = (1)^2 - 4(0)(-1) = 1 > 0$$

□

فنیات

بعض کیلکولیٹر گھمانے کی عمل سے سائن اور کوسائن معلوم کرتا ہے۔ یہ عمل درج ذیل ہے۔

---

[۲۱] discriminant

جدول ۱۰.۳: دو درجی منحنیات کی مثالیں۔

$$Ax^2 + Bxy + Cy^2 + Dx + Ey + F = 0$$

	A	B	C	D	E	F	مساوات	رائے
دائرہ	1		1			-4	$x^2 + y^2 = 4$	$A = C; F < 0$
قطع مکافی			1	-9			$y^2 = 9x$	y میں دو درجی، x میں خطی
ترخیم	4		9			-36	$4x^2 + 9y^2 = 36$	A ، C یکساں علامت، $F < 0$ ؛ $A \neq C$
زائد قطع	1		-1			-1	$x^2 - y^2 = 1$	A ، C الٹ علامت
ایک لکیر	1						$x^2 = 0$	y محور
مقطع لکیریں		1		1	-1	-1	$xy + x - y - 1 = 0$	$(y+1)(x-1) = 0$ لہٰذا $x = 1$ ، $y = -1$
متوازی لکیریں	1			-3		2	$x^2 - 3x + 2 = 0$	$(x-2)(x-1) = 0$ لہٰذا $x = 1$ ، $x = 2$
نقطہ	1		1				$x^2 + y^2 = 0$	مبدا
بلا ترسیم	1					1	$x^2 = -1$	ترسیم نہیں کیا جا سکتی ہے

۱۶۲۵۳ ا. کیلکولیٹر میں تقریباً 10 زاویے محفوظ ہوتے ہیں مثلاً

$$\alpha_1 = \sin^{-1}(10^{-1}), \quad \alpha_2 = \sin^{-1}(10^{-2}), \quad \cdots, \quad \alpha_{10} = \sin^{-1}(10^{-10})$$

۱۶۲۵۴ ب. اسی طرح اس میں α_1 تا α_{10} کے سائن اور کوسائن بھی محفوظ ہوتے ہیں۔

۱۶۲۵۵ کسی بھی زاویہ θ کا سائن یا کوسائن معلوم کرنے کی خاطر ہم کیلکولیٹر میں θ ریڈیئن داخل کرتے ہیں۔ کیلکولیٹر 2π کا مضرب θ کے ساتھ جمع کر کے 0
۱۶۲۵۶ اور 2π کے بیچ زاویہ حاصل کرتا ہے جس کا سائن اور کوسائن وہی ہو گا جو اصل زاویہ θ کا ہو گا (لہٰذا ہم اس نئے زاویہ کو θ ہی کہتے ہیں)۔ اب θ سے تجاوز
۱۶۲۵۷ کئے بغیر کیلکولیٹر θ کو α_1 کا مضرب جمع α_2 کا مضرب اور اسی طرح چلتے ہوئے، جمع α_{10} کا مضرب لکھتا ہے۔ یوں درج ذیل حاصل ہو گا۔

$$\theta \approx m_1\alpha_1 + m_2\alpha_2 + \cdots + m_{10}\alpha_{10}$$

۱۶۲۵۸ اس کے بعد کیلکولیٹر نقطہ $1, 0$ کو m_1 گنّا α_1 زاویہ گھماتا ہے۔ اس کے بعد m_2 گنّا α_2 زاویہ گھماتا ہے، اور اسی طرح چلتے ہوئے، m_{10} گنّا α_{10}
۱۶۲۵۹ زاویہ گھماتا ہے۔ اکائی دائرہ پر پائے جانے والے نقطہ $(1, 0)$ کے آخری مقام کے محدد $(\cos\theta, \sin\theta)$ ہوں گے (شکل ۱۰.۳۳)۔

۱۶۲۶۰ **سوالات**

۱۶۲۶۱ ممیز کا استعمال

۱۶۲۶۲ ممیز $B^2 - 4AC$ استعمال کرتے ہوئے دریافت کریں آیا سوال ۱۰.۱۳۳ تا سوال ۱۰.۱۴۸ میں دی گئی مساوات قطع مکافی، ترخیم یا قطع زائد کو ظاہر کرتی
۱۶۲۶۳ ہے۔

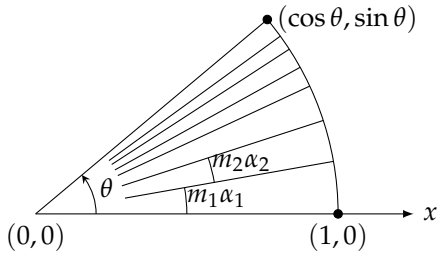

شکل ۱۰.۳۳: سائن اور کوسائن حاصل کرنے کا عمل۔

۱۲۶۴ سوال ۱۰.۱۳۳: $x^2 - 3xy + y^2 - x = 0$

۱۲۶۵ سوال ۱۰.۱۳۴: $3x^2 - 18xy + 27y^2 - 5x + 7y = -4$

۱۲۶۶ سوال ۱۰.۱۳۵: $3x^2 - 7xy + \sqrt{17}y^2 = 1$

۱۲۶۷ سوال ۱۰.۱۳۶: $2x^2 - \sqrt{15}xy + 2y^2 + x + y = 0$

۱۲۶۸ سوال ۱۰.۱۳۷: $x^2 + 2xy + y^2 + 2x - y + 2 = 0$

۱۲۶۹ سوال ۱۰.۱۳۸: $2x^2 - y^2 + 4xy - 2x + 3y = 6$

۱۲۷۰ سوال ۱۰.۱۳۹: $x^2 + 4xy + 4y^2 - 3x = 6$

۱۲۷۱ سوال ۱۰.۱۴۰: $x^2 + y^2 + 3x - 2y = 10$

۱۲۷۲ سوال ۱۰.۱۴۱: $xy + y^2 - 3x = 5$

۱۲۷۳ سوال ۱۰.۱۴۲: $3x^2 + 6xy + 3y^2 - 4x + 5y = 12$

۱۲۷۴ سوال ۱۰.۱۴۳: $3x^2 - 5xy + 2y^2 - 7x - 14y = -1$

۱۲۷۵ سوال ۱۰.۱۴۴: $2x^2 - 4.9xy + 3y^2 - 4x = 7$

۱۲۷۶ سوال ۱۰.۱۴۵: $x^2 - 3xy + 3y^2 + 6y = 7$

۱۲۷۷ سوال ۱۰.۱۴۶: $25x^2 + 21xy + 4y^2 - 350x = 0$

۱۲۷۸ سوال ۱۰.۱۴۷: $6x^2 + 3xy + 2y^2 + 17y + 2 = 0$

۱۲۷۹ سوال ۱۰.۱۴۸: $3x^2 + 12xy + 12y^2 + 435x - 9y + 72 = 0$

۱۲۸۰

۱۲۸۱ **محددی محور گھمانا**

۱۲۸۲ سوال ۱۰.۱۴۹ تا سوال ۱۰.۱۵۸ میں محددی محور کو گھما کر دی گئی مساوات سے Bxy طرز کا جزو ختم کریں۔ اس کے بعد مساوات کی ترسیم کو پہچانیں۔ (نئی

۱۲۸۳ مساوات گھمانے کے رخ اور مقدار پر منحصر ہو گی۔)

سوال ۱۰.۱۴۹: $xy = 2$

سوال ۱۰.۱۵۰: $x^2 + xy + y^2 = 1$

سوال ۱۰.۱۵۱: $3x^2 + 2\sqrt{3}xy + y^2 - 8x + 8\sqrt{3}y = 0$

سوال ۱۰.۱۵۲: $x^2 - \sqrt{3}xy + 2y^2 = 1$

سوال ۱۰.۱۵۳: $x^2 - 2xy + y^2 = 2$

سوال ۱۰.۱۵۴: $3x^2 - 2\sqrt{3}xy + y^2 = 1$

سوال ۱۰.۱۵۵: $\sqrt{2}x^2 + 2\sqrt{2}xy + \sqrt{2}y^2 - 8x + 8y = 0$

سوال ۱۰.۱۵۶: $xy - y - x + 1 = 0$

سوال ۱۰.۱۵۷: $3x^2 + 2xy + 3y^2 = 19$

سوال ۱۰.۱۵۸: $3x^2 + 4\sqrt{3}xy - y^2 = 7$

سوال ۱۰.۱۵۹: اس زاویہ کا سائن اور کوسائن دریافت کریں جس پر درج ذیل مساوات کو گھما کر Bxy طرز کا جزو ہٹایا جا سکتا ہے۔ نئی مساوات معلوم نہ کریں۔

$$14x^2 + 16xy + 2y^2 - 10x + 26370y - 17 = 0$$

سوال ۱۰.۱۶۰: اس زاویہ کا سائن اور کوسائن دریافت کریں جس پر درج ذیل مساوات کو گھما کر Bxy طرز کا جزو ہٹایا جا سکتا ہے۔ نئی مساوات حاصل نہ کریں۔

$$4x^2 - 4xy + y^2 - 8\sqrt{5}x - 16\sqrt{5}y = 0$$

کیلکولیٹر

سوال ۱۰.۱۶۱ تا سوال ۱۰.۱۶۶ میں وہ زاویہ α دریافت کریں جس پر محددی محور کو گھما کر جزو Bxy کو مساوات سے ہٹایا جا سکتا ہے۔ اس کے بعد $\sin\alpha$ اور $\cos\alpha$ کو 2 اعشاریہ درست دریافت کریں۔ مساوات ۱۶ استعمال کرتے ہوئے نئی مساوات کے عددی سر ایک اعشاریہ تک تلاش کریں۔ اب بتائیں آیا مساوات قطع مکافی، ترخیم یا قطع زائد کو ظاہر کرتی ہے۔

سوال ۱۰.۱۶۱: $x^2 - xy + 3y^2 + x - y - 3 = 0$

سوال ۱۰.۱۶۲: $2x^2 + xy - 3y^2 + 3x - 7 = 0$

سوال ۱۰.۱۶۳: $x^2 - 4xy + 4y^2 - 5 = 0$

سوال ۱۰.۱۶۴: $2x^2 - 12xy + 18y^2 - 49 = 0$

سوال ۱۰.۱۶۵: $3x^2 + 5xy + 2y^2 - 8y - 1 = 0$

سوال ۱۰.۱۶۶: $2x^2 + 7xy + 9y^2 + 20x - 86 = 0$

نظریہ اور مثالیں

سوال ۱۰.۱۶۷: مبدا کے گرد 90° گھمانے سے درج ذیل مساوات پر کیا اثر ہو گا؟ نئی مساوات تلاش کریں۔

ا. $\frac{x^2}{a^2} + \frac{y^2}{b^2} = 1, \ (a > b)$ ترخیم

ب. $\frac{x^2}{a^2} - \frac{y^2}{b^2} = 1$ قطع زائد

ج. $x^2 + y^2 = a^2$ دائرہ

د. $y = mx$ لکیر

ھ. $y = mx + b$ لکیر

سوال ۱۰.۱۶۸: مبدا کے گرد 180° گھمانے سے درج ذیل مساوات پر کیا اثر ہو گا؟ نئی مساوات تلاش کریں۔

ا. $\frac{x^2}{a^2} + \frac{y^2}{b^2} = 1, \ (a > b)$ ترخیم

ب. $\frac{x^2}{a^2} - \frac{y^2}{b^2} = 1$ قطع زائد

ج. $x^2 + y^2 = a^2$ دائرہ

د. $y = mx$ لکیر

ھ. $y = mx + b$ لکیر

سوال ۱۰.۱۶۹: قطع زائد $xy = a$ سائنس اور ریاضیات میں بہت اہمیت رکھتا ہے۔ اس کی ایک صورت $xy = 1$ ہے۔

ا. محددی محور کو 45° زاویہ گھما کر مساوات $xy = 1$ کی ایسی صورت تلاش کریں جس میں Bxy طرز کا جزو نہیں پایا جاتا ہو۔ اس نئی مساوات کو حاصل کریں۔

ب. مساوات $xy = a$ کے لئے بھی یہی کریں۔

سوال ۱۰.۱۷۰: قطع زائد $xy = 2$ کی سنک دریافت کریں۔

سوال ۱۰.۱۷۱: کیا $AC < 0$ کی صورت میں مساوات $Ax^2 + Bxy + Cy^2 + Dx + Ey + F = 0$ کی ترسیم کے بارے میں کچھ کہا جا سکتا ہے؟ اپنے جواب کی وجہ پیش کریں۔

سوال ۱۰.۱۷۲: کیا کسی بھی غیر انحطاطی مخروط حصہ $Ax^2 + Bxy + Cy^2 + Dx + Ey + F = 0$ میں درج ذیل تمام خواص پائے جاتے ہیں؟

ا. یہ مبدا کے لحاظ سے تشاکلی ہے۔

ب. یہ نقطہ $(1, 0)$ سے گزرتا ہے۔

ج. یہ نقطہ $(-2, 1)$ پر لکیر $y = 1$ کو مماسی ہے۔

اپنے جواب کی وجہ پیش کریں۔

سوال ۱۰.۱۷۳: دکھائیں کہ مبدا کے گرد محور کو گھمانے کی مساوات ۴ میں ہر زاویہ α کے لئے $x^2 + y^2 = a^2$ سے $x'^2 + y'^2 = a^2$ حاصل ہو گا۔

سوال ۱۰.۱۷۴: دکھائیں کہ جب بھی $A = C$ ہو، محور کو $\frac{\pi}{4}$ ریڈیئن گھمانے سے مساوات اکا Bxy جزو ختم ہوتا ہے۔

سوال ۱۰.۱۷۵:

ا. معلوم کریں کہ آیا درج ذیل مساوات ترخیم، قطع کافی یا قطع زائد کو ظاہر کرتی ہے۔

$$x^2 + 4xy + 4y^2 + 6x + 12y + 9 = 0$$

ب. دکھائیں کہ جزو-ا میں مساوات کی ترسیم لکیر $2y = -x - 3$ ہے۔

سوال ۱۰.۱۷۶:

ا. معلوم کریں کہ آیا درج ذیل مساوات ترخیم، قطع کافی یا قطع زائد کو ظاہر کرتی ہے۔

$$9x^2 + 6xy + y^2 - 12x - 4y + 4 = 0$$

ب. دکھائیں کہ جزو-ا میں مساوات کی ترسیم لکیر $y = -3x + 2$ ہے۔

سوال ۱۰.۱۷۷: (الف) منحنی $xy + 2x - y = 0$ کس قسم کا مخروط حصہ ہے؟ (ب) مساوات $xy + 2x - y = 0$ کو y کے لئے حل کر کے اس کو x کے ناطق تفاعل کے طور پر ترسیم کریں۔ (ج) اس منحنی کے عمودی اور لکیر $y = -2x$ کے متوازی لکیروں کی مساواتیں معلوم کریں۔ ان لکیروں کو بھی ترسیم کا حصہ بنائیں۔

سوال ۱۰.۱۷۸: ترسیم $Ax^2 + Bxy + Cy^2 + Dx + Ey + F = 0$ کے بارے میں درج ذیل فقروں کو ثابت کریں یا ان کے مخالف فقرے تلاش کریں۔

ا. اگر $AC > 0$ ہو تب ترسیم ترخیم ہو گا۔

ب. اگر $AC > 0$ ہو تب ترسیم قطع زائد ہو گی۔

ج. اگر $AC < 0$ ہو تب ترسیم قطع زائد ہو گی۔

سوال ۱۰.۱۷۹: جب $B^2 - 4AC$ منفی ہو تب مساوات $Ax^2 + Bxy + Cy^2 = 1$ ترخیم کو ظاہر کرتی ہے۔ اگر اس ترخیم کے نصف محور a اور b ہوں تب اس کا رقبہ πab ہو گا (معیاری کلیہ)۔ دکھائیں کہ اس رقبہ کو $\frac{2\pi}{\sqrt{4AC-B^2}}$ بھی لکھا جا سکتا ہے۔ (اشارہ: محور کو گھما کر جزو Bxy ہٹا کر مساوات ۱۱۲ استعمال کریں۔)

سوال ۱۰.۱۸۰: ہم مبدا کے گرد محور گھما کر $B'^2 - 4A'C' = B^2 - 4AC$ کی بات کرتے ہوئے کہتے ہیں کہ دو درجی مساوات کا ممیز **غیر متغیر** ہے۔ مساوات ۶ کی مدد لیتے ہوئے دکھائیں کہ عدد (الف) $A + C$ اور (ب) $D^2 + E^2$ بھی غیر متغیر ہیں، یعنی:

$$A' + C' = A + C, \quad D'^2 + E'^2 = D^2 + E^2$$

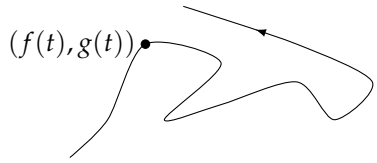

شکل ۱۰.۳۴: مستوی xy میں ضروری نہیں کہ ذرے کی راہ x یا y کا تفاعل ہو۔

حقائق کو استعمال کرتے ہوئے مبدا کے گرد محور گھمانے کے بعد حاصل عددی سروں کی تصدیق کی جا سکتی ہے۔ انہیں حقائق کو استعمال کرتے ہوئے A' سے C' اور D' سے E' کی قیمتیں جلد معلوم کی جا سکتی ہیں۔

سوال ۱۰.۱۸۱: مبدا کے گرد محور کو کسی بھی زاویہ گھمانے کے بعد $B'^2 - 4A'C' = B^2 - 4AC$ ثابت کرنے کے لئے مساوات ۶ کی مدد لیں۔ یہ ثابت کرتے ہوئے کچھ دیر ضرور لگے گی۔

۱۰.۴ مستوی منحنیات کے مقدار معلوم روپ کا حصول

جب ایک ذرہ شکل ۱۰.۳۴ میں دکھائی گئی راہ پر چلتا ہو، ہم اس کی حرکت کو کارتیسی کلیہ کی صورت میں لکھنے کی توقع نہیں کر سکتے ہیں جو y کو بلا واسطہ x کی صورت میں یا x کو بلا واسطہ y کی صورت میں پیش کرتا ہو۔ ایسی صورت میں ہم ذرے کی راہ کے ہر محدد کو وقت t کا تفاعل لکھ کر اس راہ کو ایک جوڑی مساوات $x = f(x)$ ، $y = g(t)$ کی صورت میں لکھتے ہیں۔ چونکہ یہ مساوات ہر لمحہ t پر ذرے کا مقام دیتے ہیں لہٰذا حرکت پر غور کے لئے یہ مساوات زیادہ مفید ثابت ہوتے ہیں۔

تعریف: اگر t کے ایک وقفہ پر x اور y استراری تفاعل

$$x = f(t), \quad y = g(t)$$

ہوں تب نقاط $(x, y) = (f(t), g(t))$ کا سلسلہ، جن کی تعریف مذکورہ بالا مساوات پیش کرتی ہیں، محددی مستوی میں ایک منحنی ہو گی۔ ان مساوات کو اس منحنی کی **مقدار معلوم مساوات**[۲۲] کہتے ہیں۔ متغیر t منحنی کا **مقدار معلوم**[۲۳] ہے اور اس کا وقفہ I **مقدار معلوم وقفہ**[۲۴] کہلاتا ہے۔ اگر I بند وقفہ $a \leq t \leq b$ ہو تب نقطہ $(f(a), g(a))$ منحنی کا **ابتدائی نقطہ**[۲۵] اور نقطہ $(f(b), g(b))$ اس کا **اختتامی نقطہ**[۲۶] ہو گا۔ منحنی کو **مقدار معلوم روپ دینے**[۲۷] سے مراد مستوی میں منحنی کی مقدار معلوم مساوات اور مقدار معلوم وقفہ بیان کرنا ہے۔

□

[۲۲] parametricequations
[۲۳] parameter
[۲۴] parameterinterval
[۲۵] initialpoint
[۲۶] terminalpoint
[۲۷] parametrization

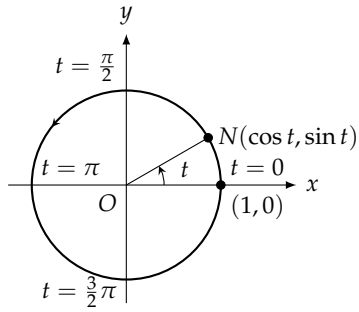

شکل ۱۰.۳۵: گھڑی کے الٹ رخ حرکت (مثال ۱۰.۱۳)

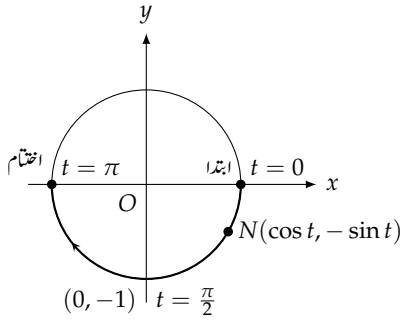

شکل ۱۰.۳۶: گھڑی کے رخ حرکت (مثال ۱۰.۱۴)

۱۳۷۴ بہت سارے مواقع پر t وقت کو ظاہر کرتا ہے جبکہ دیگر مواقع پر یہ کسی اور متغیر مثلاً زاویہ (اگلی مثال) کو ظاہر کر سکتا ہے۔

۱۳۷۵ مثال ۱۰.۱۳: دائرہ $x^2 + y^2 = 1$

۱۳۷۶ درج ذیل مقدار معلوم مساوات اور مقدار معلوم وقفہ

$$x = \cos t, \quad y = \sin t, \quad 0 \leq t \leq 2\pi$$

۱۳۷۷ بڑھتے t کے لئے دائرہ $x^2 + y^2 = 1$ پر گھڑی کی الٹ رخ ایک ذرہ کا مقام $N(x, y)$ ظاہر کرتے ہیں (شکل ۱۰.۳۵)۔

۱۳۷۸ چونکہ ہر t کے لئے

$$x^2 + y^2 = \cos^2 t + \sin^2 t = 1$$

۱۳۷۹ ہوتا ہے لہٰذا ہم جانتے ہیں کہ یہ ذرہ اس دائرے پر حرکت کرتا ہے۔ ہم جاننا چاہتے ہیں کہ دائرے کے کتنے حصہ پر ذرہ حرکت کرتا ہے۔

۱۳۸۰ یہ جاننے کے لئے ہم t کو 0 تا 2π کر کے ذرے کی مقام پر نظر رکھتے ہیں۔ مقدار معلوم t کی ناپ ریڈیئن میں ہے جو ON اور مثبت x محور
۱۳۸۱ کے بیچ زاویہ ہے۔ یہ ذرہ $t = 0$ پر نقطہ $(x, y) = (\cos 0, \sin 0) = (1, 0)$ سے شروع کر کے اوپر اور بائیں چلتے ہوئے
۱۳۸۲ $t = \frac{\pi}{2}$ پر $(x, y) = (\cos \frac{\pi}{2}, \sin \frac{\pi}{2}) = (0, 1)$ پہنچتا ہے۔ یہاں سے یہ بائیں اور نیچے چلتے ہوئے $t = \pi$ پر
۱۳۸۳ $(x, y) = (\cos \pi, \sin \pi) = (-1, 0)$ پہنچتا ہے۔ اس کے بعد ذرہ نیچے اور دائیں چل کر $(0, -1)$ پہنچ کر یہاں سے اوپر اور دائیں
۱۳۸۴ چل کر آخر کار $t = 2\pi$ پر نقطہ $(x, y) = (\cos 2\pi, \sin 2\pi) = (1, 0)$ پر واپس آن پہنچتا ہے۔ یوں $0 \leq t \leq 2\pi$
۱۳۸۵ کرنے سے یہ ذرہ ٹھیک ایک بار دائرہ پر گھڑی کے الٹ رخ چلتا ہے۔ □

۱۳۸۶ مثال ۱۰.۱۴: نصف دائرہ

۱۳۸۷ درج ذیل مقدار معلوم مساوات اور مقدار معلوم وقفہ

$$x = \cos t, \quad y = -\sin t, \quad 0 \leq t \leq \pi$$

ایک ذرے کا مقام دیتے ہیں جو t کو 0 سے بڑھا کر π کرنے سے بڑھانے سے گھڑی کے رخ دائرہ $x^2 + y^2 = 1$ پر حرکت کرتا ہے (شکل ۱۰.۳۶)۔

چونکہ مذکورہ بالا مقدار معلوم مساوات سے حاصل محدد دائرہ کی مساوات کو مطمئن کرتے ہیں لہٰذا یہ ذرہ دائرے پر حرکت کرتا ہے۔ یہ جاننے کے لئے کہ دائرے کے کتنے حصے پر ذرہ حرکت کرتا ہے، ہم t کو 0 تا π کرتے ہوئے ذرہ کے مقام پر نظر رکھتے ہیں۔ لمحہ $t = 0$ پر مذکورہ بالا مساوات سے $(x, y) = (1, 0)$ ملتا ہے جو ذرے کا ابتدائی مقام ہے۔ البتہ اب t بڑھانے سے x کی قیمت گھٹتی ہے جبکہ y کی قیمت منفی ہو کر -1 تک پہنچ کر $t = \pi$ پر واپس 0 ہوتی ہے۔ چونکہ $t = \pi$ وقفے کا اختتامی نقطہ ہے لہٰذا ذرہ یہیں رہتا ہے۔ یوں ذرہ دائرے کے نچلے نصف حصے پر سفر کرتا ہے۔ □

مثال ۱۰.۱۵: نصف قطع مکافی

مستوی xy میں ایک ذرے کا مقام $N(x, y)$ درج ذیل مقدار مساوات اور مقدار معلوم وقفہ دیتے ہیں۔

$$x = \sqrt{t}, \quad y = t, \quad t \geq 0$$

اس ذرے کی راہ کو پہچان کر اس کو بیان کریں۔

حل: ہم مساوات $x = \sqrt{t}$ اور $y = t$ سے t خارج کرتے ہوئے راہ کی مساوات تلاش کرتے ہیں۔ اگر ہماری قسمت اچھی ہو، ایسا کرنے سے کوئی جانی پہچانی مساوات حاصل ہو سکتی ہے۔

$$y = t = (\sqrt{t})^2 = x^2$$

اس سے ظاہر ہے کہ ذرے کے مقام کے محدد مساوات $y = x^2$ کو مطمئن کرتے ہیں لہٰذا ذرہ قطع مکافی $y = x^2$ پر حرکت کرتا ہے۔

البتہ یہ کہنا غلط ہو گا کہ یہ ذرہ پورے قطع مکافی $y = x^2$ پر حرکت کرتا ہے۔ یہ ذرہ حقیقت میں نصف قطع مکافی پر حرکت کرتا ہے۔ ذرے کے مقام کا x محدد کبھی بھی منفی نہیں ہوتا ہے۔ لمحہ $t = 0$ پر ذرہ $(0, 0)$ سے شروع کرتے ہوئے t بڑھنے سے ربع اول میں رہ کر اوپر بڑھتا جاتا ہے (شکل ۱۰.۳۷)۔ □

مثال ۱۰.۱۶: مکمل قطع مکافی راہ

مستوی xy میں ایک ذرے کا مقام $N(x, y)$ درج ذیل مساوات اور مقدار معلوم وقفہ دیتے ہیں۔

$$x = t, \quad y = t^2, \quad -\infty < t < \infty$$

اس ذرے کی راہ کو پہچان کر اس کو بیان کریں۔

حل: ہم مساوات $x = t$ اور $y = t^2$ سے t خارج کر کے x اور y کے بیچ مساوات حاصل کرتے ہیں۔

$$y = (t)^2 = x^2$$

ذرے کا مقام مساوات $y = x^2$ کو مطمئن کرتی ہے لہٰذا ذرہ قطع مکافی $y = x^2$ پر حرکت کرتا ہے۔

البتہ اب مثال ۱۰.۱۵ کے برعکس ذرہ مکمل قطع مکافی پر حرکت کرتا ہے۔ جیسے جیسے t کی قیمت $-\infty$ سے بڑھ کر ∞ پہنچتی ہے، ذرہ بائیں سے نیچے آتے ہوئے مبدا سے گزر کر اوپر دائیں حرکت کرتا ہے (شکل ۱۰.۳۸)۔ □

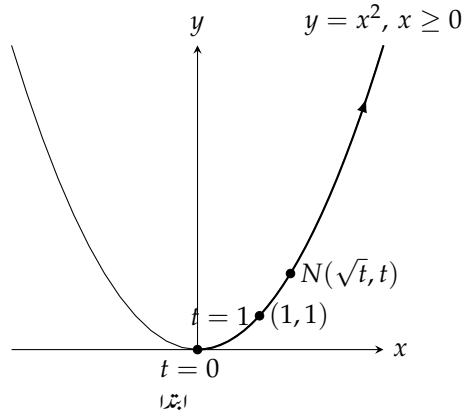

شکل ۱۰.۳۷: نصف قطع مکافی راہ (مثال ۱۰.۱۵)

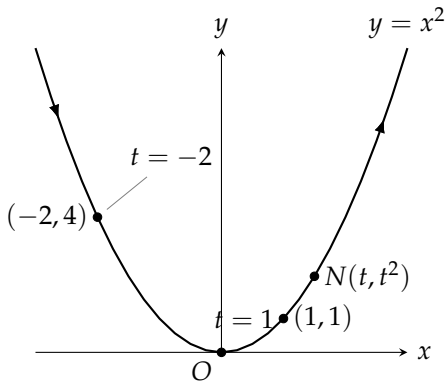

شکل ۱۰.۳۸: مکمل قطع مکافی راہ (مثال ۱۰.۱۶)

۱۶۴۱۰ جیسا ہم نے مثال ۱۰.۱۶ میں دیکھا، کسی بھی منحنی $y = f(x)$ کی مقدار معلوم روپ $x = t,\ y = f(t)$ ہو گی۔ یہ اتنی سادہ صورت ہے کہ
۱۶۴۱۱ اس کو ہم حقیقت میں استعمال نہیں کرتے ہیں لیکن اس سے نظریہ باآسانی سمجھ آتا ہے۔

۱۶۴۱۲ مثال ۱۰.۱۷: ایک ذرے کا مقام لمحہ t پر $N(x,y)$ درج ذیل دیتے ہیں۔

$$x = a\cos t, \quad y = b\sin t, \quad 0 \leq t \leq 2\pi$$

۱۶۴۱۳ اس ذرے کی حرکت کو بیان کریں۔

۱۶۴۱۴ حل: ہم مساوات $\cos t = \frac{x}{a}$ اور $\sin t = \frac{y}{b}$ سے t خارج کر کے کارتیسی مساوات حاصل کرتے ہیں۔

$$\left(\frac{x}{a}\right)^2 + \left(\frac{y}{b}\right)^2 = 1, \quad \Longrightarrow \quad \frac{x^2}{a^2} + \frac{y^2}{b^2} = 1$$

۱۶۴۱۵ ذرے کا مقام مساوات ترخیم $\frac{x^2}{a^2} + \frac{y^2}{b^2} = 1$ کو مطمئن کرتا ہے لہٰذا یہ ذرہ ترخیم پر حرکت کرتا ہے۔ لمحہ $t = 0$ پر ذرے کے مقام کے محدد

$$x = a\cos(0) = a, \quad y = b\sin(0) = 0$$

۱۶۴۱۶ ہوں گے لہٰذا یہ ابتدائی نقطہ $(a,0)$ سے حرکت شروع کرتا ہے۔ t بڑھانے سے ذرہ اوپر اور بائیں گھڑی کے الٹ رخ حرکت کرتا ہے۔ یہ قطع مکافی کے
۱۶۴۱۷ گرد ایک بار چل کر لمحہ $t = 2\pi$ پر واپس نقطہ $(a,0)$ پہنچ کر رک جاتا ہے (شکل ۱۰.۳۹)۔ □

۱۶۴۱۸ مثال ۱۰.۱۸: درج ذیل مقدار معلوم مساوات اور مقدار معلوم وقفہ، جو مثال ۱۰.۱۷ میں $b = a$ پر کرنے سے حاصل ہوتے ہیں،

$$x = a\cos t, \quad y = a\sin t, \quad 0 \leq t \leq 2\pi$$

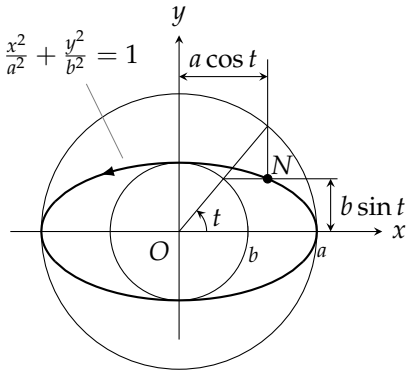

شکل ۱۰.۳۹: ترخیمی راہ (مثال ۱۰.۱۷)

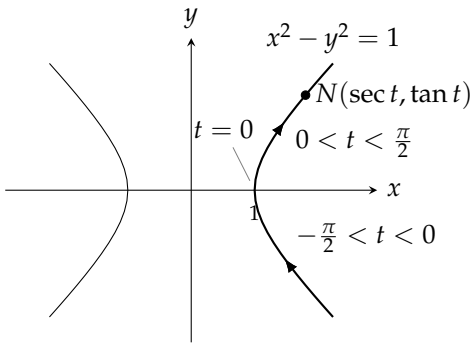

شکل ۱۰.۴۰: قطع زائد راہ (مثال ۱۰.۱۹)

۱۹۳۱۹ دائرہ $x^2+y^2=a^2$ کو ظاہر کرتے ہیں۔ □

۱۹۳۲۰ مثال ۱۰.۱۹: ایک ذرے کا مقام لمحہ t پر درج ذیل مقدار معلوم مساوات دیتے ہیں۔

$$x=\sec t, \quad y=\tan t, \quad -\frac{\pi}{2}<t<\frac{\pi}{2}$$

۱۹۳۲۱ حل: ہم درج ذیل مساوات

$$\sec t = x, \quad \tan t = y$$

۱۹۳۲۲ سے t خارج کر کے کارتیسی مساوات حاصل کرتے ہیں۔ ایسا مماثل $\sec^2 t-\tan^2 t=1$ کی مدد سے کیا جائے گا۔

$$\sec^2 t-\tan^2 t=x^2-y^2=1$$

۱۹۳۲۳ چونکہ ذرے کے مقام کے محدد (x,y) مساوات $x^2-y^2=1$ کو مطمئن کرتے ہیں لہٰذا یہ ذرہ قطع زائد پر حرکت کرتا ہے۔ متغیر t کی قیمت
۱۹۳۲۴ $-\frac{\pi}{2}$ سے بڑھ کر $\frac{\pi}{2}$ تک پہنچنے سے $x=\sec t$ کی قیمت مثبت اور $y=\tan t$ کی قیمت $-\infty$ سے ∞ پہنچتی ہے لہٰذا N قطع زائد کے
۱۹۳۲۵ دایاں نصف حصہ پر رہے گا (شکل ۱۰.۴۰)۔ □

۱۹۳۲۶ مثال ۱۰.۲۰: تدویر

۱۹۳۲۷ ایک پہیا جس کا رداس a ہے افقی لکیر پر چل رہا ہے۔ اس کے محیط پر نقطہ N کی راہ کے مقدار معلوم مساوات معلوم کریں۔ اس راہ کو **تدویر**[۲۸] کہتے ہیں۔

۱۹۳۲۸ حل: ہم x محور کو وہ لکیر لیتے ہیں جس پر پہیا چل رہا ہے اور لمحہ $t=0$ پر نقطہ N کو مبدا پر لیتے ہیں۔ ہم زاویہ t کو مقدار معلوم لیتے ہیں جو پہیا
۱۹۳۲۹ گھومنے کا زاویہ ہے اور اس کو ریڈیئن میں ناپا جاتا ہے۔ شکل ۱۰.۴۱ میں پہیے کو کچھ دیر بعد دکھایا گیا ہے جہاں اس کا قاعدہ، مبدا سے at فاصلہ پر ہے۔ پہیے کا مرکز

---

[۲۸] cycloid

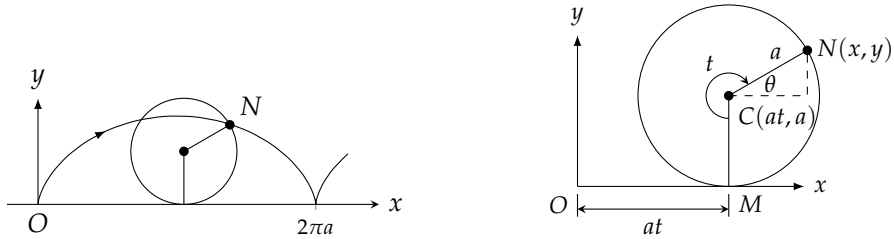

شکل ۱۰.۴۱: پہیے کے محیط پر نقطے کا مقام اور تدویر۔

۱۶۳۳۰ (at, a) ہر ہو گا اور N کے محدد درج ذیل ہوں گے۔

$$x = at + a\cos\theta, \quad y = a + a\sin\theta$$

۱۶۳۳۱ زاویہ θ کو t کی صورت میں ظاہر کرنے کے لئے ہم شکل سے

$$\theta = \frac{3\pi}{2} - t$$

۱۶۳۳۲ لکھ سکتے ہیں۔ یوں

$$\cos\theta = \cos\left(\frac{3\pi}{2} - t\right) = -\sin t, \quad \sin\theta = \sin\left(\frac{3\pi}{2} - t\right) = -\cos t$$

۱۶۳۳۳ ہوں گے۔ درکار مساوات

$$x = at - a\sin t, \quad y = a - a\cos t$$

۱۶۳۳۴ ہیں جنہیں عموماً

$$x = a(t - \sin t), \quad y = a(1 - \cos t) \tag{1}$$

۱۶۳۳۵ لکھا جاتا ہے۔ شکل ۱۰.۴۱ میں اس تدویر کا کچھ حصہ دکھایا گیا ہے۔ □

۱۶۳۳۶ کمتر وقتی منحنی اور یکساں وقتی منحنی

۱۶۳۳۷ اگر ہم شکل ۱۰.۴۱ کی تدویر کو الٹ کریں، مساوات ۱ اس پر بھی لاگو ہو گی (شکل ۱۰.۴۲) جہاں مثبت y نیچے رخ ہے۔ حاصل سرنیچے منحنی کے دو اہم خواص
۱۶۳۳۸ ہیں۔ پہلی خاصیت مبدا O اور پہلی قوس میں سب سے گہرا نقطہ B سے تعلق رکھتا ہے۔ ایک بلا رگڑ گیند جس پر صرف کشش ثقل عمل کرتا ہو، ان دو نقطوں
۱۶۳۳۹ کو جوڑنے والی تمام منحنیات میں سب سے جلد اس تدویر پر چلتے ہوئے O سے B پہنچتا ہے۔ یوں اس تدویر کو **کمتر وقتی منحنی** کہتے ہیں۔ اس کی دوسری

خاصیت یہ ہے کہ اگر گیند کو O کے بجائے کسی دوسرے نقطہ سے چلنے دیا جائے یہ گیند B تک پہنچتے ہوئے اتنا ہی وقت لے گا جو یہ O سے B تک پہنچتے ہوئے لیتا ہے۔ یوں اس کو تدویر کو **یکساں وقتی منحنی** بھی کہتے ہیں۔

کیا O اور B کے بیچ اس کے علاوہ بھی کوئی کمتر وقت کی منحنی پائی جاتی ہے؟ ہم اس کو بطور ریاضیاتی پیش کر سکتے ہیں: ابتدا میں چونکہ گیند کی رفتار صفر ہے لہٰذا اس کی حرکی توانائی صفر ہو گی۔ مبدا $(0,0)$ سے کسی بھی نقطہ (x,y) تک گیند کو پہنچانے کی خاطر mgy کام ثقلی کشش کو کرنا ہو گا اور یہ توانائی لازماً حرکی توانائی میں تبدیلی کے برابر ہو گی، یعنی:

$$mgy = \frac{1}{2}mv^2 - \frac{1}{2}m(0)^2$$

یوں (x,y) پر پہنچ کر گیند کی سمتی رفتار

$$v = \sqrt{2gy}$$

ہو گی جس کو

$$\frac{\mathrm{d}s}{\mathrm{d}t} = \sqrt{2gy}$$

گیند کی راہ پر چلتے ہوئے
$\mathrm{d}s$ تفرقی فاصلہ ہے

بھی لکھا جا سکتا ہے۔ کسی بھی مخصوص راہ $y = f(x)$ پر O سے $B(a\pi, 2a)$ تک چلتے ہوئے درکار وقت T_f درج ذیل ہو گا۔

$$T_f = \int_{x=0}^{x=a\pi} \sqrt{\frac{1+\left(\frac{\mathrm{d}y}{\mathrm{d}x}\right)^2}{2gy}}\,\mathrm{d}x \tag{۲}$$

اس وقت (تکمل کی قیمت) کو کونسی منحنی $y = f(x)$ کمتر کرتی ہے؟

پہلی نظر میں یوں معلوم ہوتا ہے جیسا O سے B تک سیدھی لکیر (جو یقیناً کمتر فاصلہ ہے) پر گیند کمتر وقت میں O سے B تک پہنچے گا لیکن کیا ایسا ہوتا ہے۔ عین ممکن ہے کہ شروع میں گیند کو سیدھا نیچے گرنے دینے سے جلد زیادہ رفتار حاصل کیا جا سکتا ہے جس کی وجہ سے نسبتاً لمبی راہ بھی کم قوت میں طے کی جا سکتی ہو۔ حقیقت میں یہی درست جواب ہے۔ یہ ثابت کیا جا سکتا ہے (ثبوت کو پیش نہیں کیا جائے گا) کہ O سے B تک تدویر O اور B کے بیچ واحد کمتر وقتی منحنی ہے۔ اگرچہ تدویر کو O اور B کے بیچ واحد کم وقتی منحنی ثابت کرنا اس کتاب میں پیش نہیں کیا جائے گا، ہم دکھا سکتے ہیں کہ یہ تدویر یکساں وقتی منحنی ہے۔ تدویر کے لئے مساوات ۲ درج ذیل صورت اختیار کرتی ہے۔

$$\begin{aligned}
T_{\text{تدویر}} &= \int_{x=0}^{x=a\pi} \sqrt{\frac{\mathrm{d}x^2+\mathrm{d}y^2}{2gy}} \\
&= \int_{t=0}^{t=\pi} \sqrt{\frac{a^2(2-2\cos t)}{2ga(1-\cos t)}}\,\mathrm{d}t \\
&= \int_0^{\pi} \sqrt{\frac{a}{g}}\,\mathrm{d}t = \pi\sqrt{\frac{a}{g}}
\end{aligned}$$

مساوات اسے
$\mathrm{d}x = a(1-\cos t)\,\mathrm{d}t$ ،
اور $\mathrm{d}y = a\sin t\,\mathrm{d}t$
$y = a(1-\cos t)$ ہوں گے

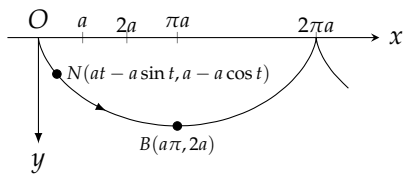

شکل ۱۰.۴۲: سر نیچے تدویر پر کشش ثقل کی وجہ سے حرکت۔

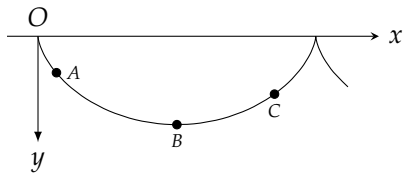

شکل ۱۰.۴۳: سر نیچے تدویر پر کسی بھی نقطہ سے B تک پہنچنے کے لئے ایک سا وقت درکار ہوتا ہے۔

۱۶۳۵۴ یوں بے رگڑ گیند کو تدویر پر چلتے ہوئے O سے B تک پہنچنے کے لئے $\pi\sqrt{\frac{a}{g}}$ وقت درکار ہو گا۔

۱۶۳۵۵ فرض کریں ہم O کے بجائے تدویر پر نقطہ (x_0, y_0) سے گیند کو چلنے دیں جس کی مطابقتی مقدار معلوم قیمت $t_0 > 0$ ہے۔ تدویر پر اس کے بعد کسی
۱۶۳۵۶ نقطہ (x, y) پر گیند کی سمتی رفتار

$$v = \sqrt{2g(y - y_0)} = \sqrt{2ga(\cos t_0 - \cos t)} \qquad (y = (1 - \cos t))$$

۱۶۳۵۷ ہو گی۔ یوں (x_0, y_0) سے B تک پہنچنے کے لئے درکار وقت درج ذیل ہو گا۔

$$\begin{aligned}
T &= \int_{t_0}^{\pi} \sqrt{\frac{a^2(2 - 2\cos t)}{2ga(\cos t_0 - \cos t)}}\,\mathrm{d}t = \sqrt{\frac{a}{g}} \int_{t_0}^{\pi} \sqrt{\frac{1 - \cos t}{\cos t_0 - \cos t}}\,\mathrm{d}t \\
&= \sqrt{\frac{a}{g}} \int_{t_0}^{\pi} \sqrt{\frac{2\sin^2 \frac{t}{2}}{(2\cos^2 \frac{t_0}{2} - 1) - (2\cos^2 \frac{t}{2} - 1)}}\,\mathrm{d}t \\
&= \sqrt{\frac{a}{g}} \int_{t_0}^{\pi} \frac{\sin \frac{t}{2}\,\mathrm{d}t}{\sqrt{\cos^2 \frac{t_0}{2} - \cos^2 \frac{t}{2}}} \\
&= \sqrt{\frac{a}{g}} \int_{t=t_0}^{t=\pi} \frac{-2\,\mathrm{d}u}{\sqrt{a^2 - u^2}} \qquad [u = \cos(t/2),\ c = \cos(t_0/2)] \\
&= 2\sqrt{\frac{a}{g}} \left[-\sin^{-1} \frac{u}{c}\right]_{t=t_0}^{t=\pi} \\
&= 2\sqrt{\frac{a}{g}} \left[-\sin^{-1} \frac{\cos(t/2)}{\cos(t_0/2)}\right]_{t_0}^{\pi} \\
&= 2\sqrt{\frac{a}{g}} (-\sin^{-1} 0 + \sin^{-1} 1) = \pi\sqrt{\frac{a}{g}}
\end{aligned}$$

۱۶۳۵۸ یہ ٹھیک اتنا ہی وقت ہے جو گیند کو O سے B تک پہنچتے ہوئے درکار ہوتا ہے۔ نقطہ B تک پہنچنے کے لئے درکار وقت پر ابتدائی نقطے کا کوئی اثر نہیں پایا جاتا
۱۶۳۵۹ ہے۔ یوں شکل ۱۰.۴۳ میں O ، A اور C سے ابتدا کرتے ہوئے تینوں گیند B تک ایک جتنے وقت میں پہنچیں گے۔

معیاری مقدار معلوم روپ

دائرہ

$$x^2 + y^2 = a^2$$
$$x = a\cos t$$
$$y = a\sin t$$
$$0 \le t \le 2\pi$$

ترخیم

$$\frac{x^2}{a^2} + \frac{y^2}{b^2} = 1$$
$$x = a\cos t$$
$$y = b\sin t$$
$$0 \le t \le 2\pi$$

رداس a کے دائرہ کا پیدا کردہ تدویر

$$x = a(t - \sin t), \quad y = a(1 - \cos t)$$

سوالات

مقدار معلوم مساوات سے کارتیسی مساوات کا حصول

سوال ۱۰.۱۸۲ تا سوال ۱۰.۲۰۵ میں xy مستوی میں ایک ذرہ کی حرکت کی مقدار معلوم مساوات دی گئی ہیں۔ اس ذرے کی راہ کی کارتیسی مساوات حاصل کرتے ہوئے راہ کو پہچانئے۔ کارتیسی مساوات کو ترسیم کرتے ہوئے اس پر ذرے کی راہ اور رخ دکھائیں۔

سوال ۱۰.۱۸۲: $x = \cos t, \quad y = \sin t, \quad 0 \le t \le \pi$

سوال ۱۰.۱۸۳: $x = \cos 2t, \quad y = \sin 2t, \quad 0 \le t \le \pi$

سوال ۱۰.۱۸۴: $x = \sin(2\pi(1-t)), \quad y = \cos(2\pi(1-t)), \quad 0 \le t \le 1$

سوال ۱۰.۱۸۵: $x = \cos(\pi - t), \quad y = \sin(\pi - t), \quad 0 \le t \le \pi$

سوال ۱۰.۱۸۶: $x = 4\cos t, \quad y = 2\sin t, \quad 0 \le t \le 2\pi$

سوال ۱۰.۱۸۷: $x = 4\sin t, \quad y = 2\cos t, \quad 0 \le t \le \pi$

سوال ۱۰.۱۸۸: $x = 4\cos t, \quad y = 5\sin t, \quad 0 \le t \le \pi$

سوال ۱۰.۱۸۹: $x = 4\sin t, \quad y = 5\cos t, \quad 0 \le t \le 2\pi$

سوال ۱۰.۱۹۰: $x = 3t, \quad y = 9t^2, \quad -\infty < t < \infty$

سوال ۱۰.۱۹۱: $x = -\sqrt{t}, \quad y = t, \quad t \ge 0$

سوال ۱۰.۱۹۲: $x = t, \quad y = \sqrt{t}, \quad t \ge 0$

سوال ۱۰.۱۹۳: $x = \sec^2 t - 1, \quad y = \tan t, \quad -\frac{\pi}{2} < t < \frac{\pi}{2}$

سوال ۱۰.۱۹۴: $x = -\sec t, \quad y = \tan t, \quad -\frac{\pi}{2} < t < \frac{\pi}{2}$

سوال ۱۰.۱۹۵: $x = \csc t, \quad y = \cot t, \quad 0 < t < \pi$

سوال ۱۰.۱۹۶: $x = 2t - 5, \quad y = 4t - 7, \quad -\infty < t < \infty$

سوال ۱۰.۱۹۷: $x = 1 - t, \quad y = 1 + t, \quad -\infty < t < \infty$

سوال ۱۰.۱۹۸: $x = t, \quad y = 1 - t, \quad 0 \leq t \leq 1$

سوال ۱۰.۱۹۹: $x = 3 - 3t, \quad y = 2t, \quad 0 \leq t \leq 1$

سوال ۱۰.۲۰۰: $x = t, \quad y = \sqrt{1 - t^2}, \quad -t \leq t \leq 0$

سوال ۱۰.۲۰۱: $x = t, \quad y = \sqrt{4 - t^2}, \quad 0 \leq t \leq 2$

سوال ۱۰.۲۰۲: $x = t^2, \quad y = \sqrt{t^4 + 1}, \quad t \geq 0$

سوال ۱۰.۲۰۳: $x = \sqrt{t + 1}, \quad y = \sqrt{t}, \quad t \geq 0$

سوال ۱۰.۲۰۴: $x = -\cosh t, \quad y = \sinh t, \quad -\infty < t < \infty$

سوال ۱۰.۲۰۵: $x = 2\sinh t, \quad y = 2\cosh t, \quad -\infty < t < \infty$

مقدار معلوم مساوات کا حصول

سوال ۱۰.۲۰۶: ایک ذرہ $(a, 0)$ سے ابتدا کرتے ہوئے دائرہ $x^2 + y^2 = a^2$ پر (ا) ایک بار گھڑی کے رخ، (ب) ایک بار گھڑی کے الٹ رخ، (ج) دو بار گھڑی کے رخ یا (د) دو بار گھڑی کے الٹ رخ صفر کرتا ہے۔ ہر ایک صورت میں اس ذرے کی راہ کی مقدار معلوم مساوات اور حرکت کا وقفہ تلاش کریں۔ (اس کو حل کرنے کے کئی طریقے ہیں لہٰذا آپ کا جواب دیے گئے جواب سے مختلف ہو سکتا ہے۔)

سوال ۱۰.۲۰۷: ایک ذرہ $(a, 0)$ سے ابتدا کرتے ہوئے ترخیم $\frac{x^2}{a^2} + \frac{y^2}{b^2} = 1$ پر (ا) ایک بار گھڑی کے رخ، (ب) ایک بار گھڑی کے الٹ رخ، (ج) دو بار گھڑی کے رخ یا (د) دو بار گھڑی کے الٹ رخ صفر کرتا ہے۔ ہر ایک صورت میں اس ذرے کی راہ کی مقدار معلوم مساوات اور حرکت کا وقفہ تلاش کریں۔ (اس کو حل کرنے کے کئی طریقے ہیں لہٰذا آپ کا جواب دیے گئے جواب سے مختلف ہو سکتا ہے۔)

سوال ۱۰.۲۰۸: درج ذیل نصف دائرے کی مقدار معلوم مساوات تلاش کریں۔ ایسا کرتے ہوئے (x, y) پر منحنی کے مماس کی ڈھلوان $t = \frac{\mathrm{d}y}{\mathrm{d}x}$ کو مقدار معلوم لیں۔

$$x^2 + y^2 = a^2, \quad y > 0$$

سوال ۱۰.۲۰۹: دائرہ $x^2 + y^2 = a^2$ پر نقطہ $(a, 0)$ سے نقطہ (x, y) تک گھڑی کے الٹ رخ فاصلہ s کو مقدار معلوم لیتے ہوئے اس دائرے کی مقدار معلوم مساوات حاصل کریں۔

سوال ۱۰.۲۱۰: ایک دائرہ جس کا رداس 1 اور مرکز $(0, 1)$ ہو کو شکل ۱۰.۴۴ میں دکھایا گیا ہے۔ ساتھ ہی لکیر $y = 2$ بھی دکھائی گئی ہے۔ اس لکیر پر کوئی نقطہ A لیں اور اس کو مبدا O کے ساتھ سیدھی لکیر سے ملائیں۔ خط OA اکائی دائرہ کو نقطہ N پر قطع کرتا ہے۔ نقطہ A کو لکیر $y = 2$ پر چلانے سے نقطہ N جس راہ پر چلتا ہے اس کو مریا گنیسی کی چڑیل کہتے ہیں۔ مریا گنیسی کی چڑیل کی مقدار معلوم مساوات اور اس کا مقدار معلوم وقفہ تلاش

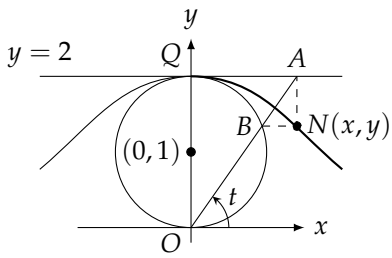

شکل ۱۰.۴۴: ترسیم برائے سوال ۱۰.۲۱۰

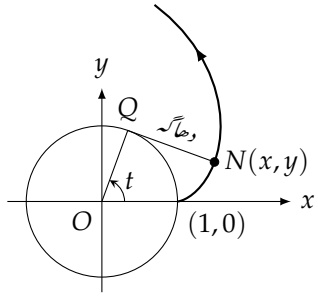

شکل ۱۰.۴۵: اکائی دائرے کا درپیچیدہ (سوال ۱۰.۲۱۱)

کریں۔ قطعہ OA اور مثبت x محور کے بیچ زاویہ t کو مقدار معلوم لیں جہاں t کو ریڈیئن میں ناپا جاتا ہے۔ درج ذیل مساوات فرض کرنے سے آپ کو مدد مل سکتی ہے۔

$$x = AQ, \quad y = 2 - AB\sin t, \quad AB \cdot OA = (AQ)^2$$

سوال ۱۰.۲۱۱: دائرے کا درپیچیدہ

ایک غیر تغیر پذیر دائرہ کے گرد لپٹے گئے دھاگے کو تان کر، دائرے کی مستوی میں رہتے ہوئے، کھولنے سے دھاگے کا سر N جس راہ پر چلتا ہے، اس کو دائرے کا **درپیچیدہ**[۲۹] کہتے ہیں۔ شکل ۱۰.۴۵ میں دائرہ $x^2 + y^2 = 1$ اور ابتدائی نقطہ $(1,0)$ ہے۔ کھولا گیا دھاگہ Q پر دائرے کا مماس ہے۔ قطعہ OQ اور مثبت x محور کے بیچ زاویہ t ہے۔ نقطہ $N(x,y)$ کے محدد x اور y کو t کی روپ میں لکھ کر درپیچیدہ کی مقدار معلوم مساوات تلاش کریں۔ درپیچیدہ کی مقدار معلوم کا وقفہ $t \geq 0$ لیں۔

سوال ۱۰.۲۱۲: مستوی میں لکیروں کی مقدار معلوم روپ

(الف) دکھائیں کہ درج ذیل ایک ایسی لکیر کو ظاہر کرتی ہیں جو نقطہ (x_0, y_0) اور (x_1, y_1) سے گزرتی ہے (شکل ۱۰.۴۶)۔

$$x = x_0 + (x_1 - x_0)t, \quad y = y_0 + (y_1 - y_0)t, \quad -\infty < t < \infty$$

(ب) اسی مقدار معلوم وقفہ کو استعمال کرتے ہوئے نقطہ (x_1, y_1) اور مبدا سے گزرتی لکیر کی مقدار معلوم مساوات لکھیں۔ (ج) اسی مقدار معلوم وقفہ کے لئے $(-1,0)$ اور $(0,1)$ سے گزرتی لکیر کی مقدار معلوم مساوات معلوم کریں۔ شکل ۱۰.۴۶ میں تیر کا نشان بڑھتے t کا رخ ظاہر کرتا ہے۔

سوال ۱۰.۲۱۳: آرشمیدسی روک

آرشمیدسی روک کو شکل ۱۰.۴۷ میں دکھایا گیا ہے جو ایک مضبوط سلاخ جس کی لمبائی L ہو پر مشتمل ہے۔ محور x اور y کے ساتھ اس کو پہیوں کے ساتھ منسلک کیا گیا ہے۔ اس سلاخ کا آزاد سر N ہے۔ سلاخ اور مثبت x محور کے بیچ زاویہ θ ہے۔

ا. مقدار معلوم θ کی صورت میں N کی راہ کی مساوات تلاش کریں۔

ب. N کی راہ کی کارتیسی مساوات تلاش کر کے اس کی ترسیم کو پہچانیں۔

---

[۲۹] involute

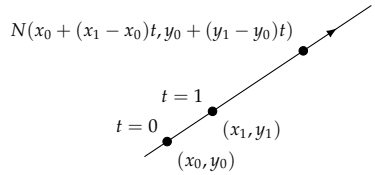

شکل ۱۰.۴۶: مستوی میں سیدھی لکیر (سوال ۱۰.۲۱۲)۔

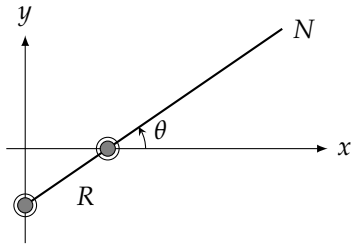

شکل ۱۰.۴۷: آرشمیدسی روک برائے سوال ۱۰.۲۱۳

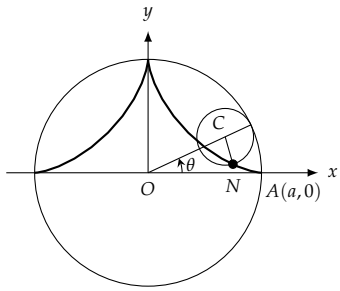

شکل ۱۰.۴۸: ستارہ نما۔ سوال ۱۰.۲۱۴

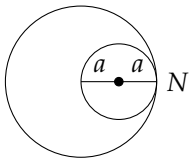

شکل ۱۰.۴۹: تدویر برائے سوال ۱۰.۲۱۵

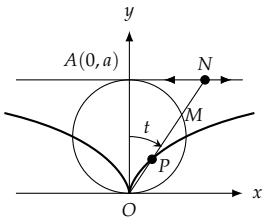

شکل ۱۰.۵۰: ترسیمات برائے سوال ۱۰.۲۱۶

سوال ۱۰.۲۱۴: فلک تدویر

ایک غیر تغیر پذیر دائرے کے محیط کے اندرون پر چلتے ہوئے دائرہ کے محیط پر کسی بھی نقطہ N کی راہ **فلک تدویر**[۳۰] کہلاتی ہے۔ غیر تغیر پذیر دائرہ $x^2 + y^2 = a^2$ لیں جبکہ دوسرے دائرے کا رداس b ہے۔ N کا ابتدائی مقام نقطہ $A(a, 0)$ لیں۔ دونوں دائروں کے مراکز کو ملانے والے خط اور مثبت x محور کے بیچ زاویہ θ ہے۔ فلک تدویر کی مقدار معلوم مساوات تلاش کریں جہاں مقدار معلوم θ ہے۔ بالخصوص $b = \frac{a}{4}$ کی صورت میں فلک تدویر درج ذیل **ستارہ نما**[۳۱] ہوگا (شکل ۱۰.۴۸)۔

$$x = a\cos^3\theta, \quad y = a\sin^3\theta$$

سوال ۱۰.۲۱۵: تدویر پر مزید معلومات

ایک دائرہ جس کا رداس $2a$ ہے کے اندر دوسرا دائرہ جس کا رداس a ہے شکل ۱۰.۴۹ میں دکھایا گیا ہے۔ نقطہ N پر یہ دائرے آپس میں ملتے ہیں۔ اندرونی دائرہ بیرونی دائرے کے اندر محیط پر چلتا ہے۔ نقطہ N کے مقام کی مساوات تلاش کریں۔

سوال ۱۰.۲۱۶: نقطہ N لکیر $y = a$ پر چلتا ہے (شکل ۱۰.۵۰)۔ نقطہ P یوں حرکت کرتا ہے کہ $OP = MN$ ہو۔ زاویہ t کو مقدار معلوم لیتے ہوئے نقطہ P کی مقدار معلوم مساوات معلوم کریں۔ لکیر ON اور y محور کے بیچ زاویہ t ہے۔

---

[۳۰] hypocycloid
[۳۱] astroid

سوال ۱۰.۲۱۷: ایک پہیا جس کا رداس a ہے ایک سیدھی لکیر پر بغیر پھسلے چل رہا ہے۔ پہیے کے مرکز سے b اکائی دور نقطہ N کی راہ کی مقدار معلوم مساوات تلاش کریں۔ پہیا جتنا زاویہ (θ) گھومتا ہے، اس کو مقدار معلوم لیں۔

مقدار معلوم مساوات سے فاصلے کا حصول

سوال ۱۰.۲۱۸: قطع مکافی $x = t,\ y = t^2,\ -\infty < t < \infty$ پر $\left(2, \frac{1}{2}\right)$ کا قریبی نقطہ تلاش کریں۔ (اشارہ: فاصلہ کے مربع کا t کے لحاظ سے تفرق لیں۔)

سوال ۱۰.۲۱۹: ترخیم $x = 2\cos t,\ y = \sin t,\ 0 \le t \le 2\pi$ پر $\left(\frac{3}{4}, 0\right)$ کا قریبی نقطہ تلاش کریں۔ (اشارہ: فاصلہ کے مربع کا t کے لحاظ سے تفرق لیں۔)

کمپیوٹر کا استعمال

درج ذیل مقدار معلوم مساوات کو کمپیوٹر پر ترسیم کریں۔

سوال ۱۰.۲۲۰: ترخیم $x = 4\cos t,\ y = 2\sin t$ وقفہ (ا) $0 \le t \le 2\pi$ ، (ب) $0 \le t \le \pi$ ، (ج) $-\frac{\pi}{2} \le t \le \frac{\pi}{2}$

سوال ۱۰.۲۲۱: قطع زائد $x = \sec t,\ y = \tan t$ کا ایک بازو وقفہ (ا) $-1.5 \le t \le 1.5$ ، (ب) $-0.5 \le t \le 0.5$ ، (ج) $-0.1 \le t \le 0.1$

سوال ۱۰.۲۲۲: قطع مکافی $x = 2t + 3,\ y = t^2 - 1$ وقفہ $-2 \le t \le 2$

سوال ۱۰.۲۲۳: تدویر $x = t - \sin t,\ y = 1 - \cos t$ وقفہ (ا) $0 \le t \le 2\pi$ ، (ب) $0 \le t \le 4\pi$ ، (ج) $\pi \le t \le 3\pi$

سوال ۱۰.۲۲۴: ستارہ نما $x = \cos^3 t,\ y = \sin^3 t$ وقفہ (ا) $0 \le t \le 2\pi$ ، (ب) $-\frac{\pi}{2} \le t \le \frac{\pi}{2}$

سوال ۱۰.۲۲۵: ایک خوبصورت منحنی یا تکھونٹا[۳۲]
اگر درج ذیل مساوات کے x اور y میں 2 کی جگہ -2 ہو تب کیا ہو گا؟

$$x = 2\cos t + \cos 2t, \quad y = 2\sin t - \sin 2t, \quad 0 \le t \le 2\pi$$

اس نئی مساوات کو ترسیم کر کے دریافت کریں۔

سوال ۱۰.۲۲۶: مزید خوبصورت منحنی
اگر درج ذیل مساوات کے x اور y میں 3 کی جگہ -3 ہو تب کیا ہو گا؟

$$x = 3\cos t + \cos 3t, \quad y = 3\sin t - \sin 3t, \quad 0 \le t \le 2\pi$$

اس نئی مساوات کو ترسیم کر کے دریافت کریں۔

---

[۳۲] deltoid

سوال ۱۰.۲۲۷: گولا

توپ کے گولے کا مدار درج ذیل ہے۔

$$x = (64\cos\alpha)t, \quad y = -4.9t^2 + (64\sin\alpha)t, \quad 0 \le t \le 4\sin\alpha$$

توپ کے مدار کو زاویہ (ا) $\alpha = \frac{\pi}{4}$، (ب) $\alpha = \frac{\pi}{6}$، (ج) $\alpha = \frac{\pi}{3}$ اور (د) $\alpha = \frac{\pi}{2}$ کے لئے ترسیم کریں۔

سوال ۱۰.۲۲۸: تین خوبصورت منحنیات

ا. برتدویر:

$$x = 9\cos t - \cos 9t, \quad y = 9\sin t - \sin 9t, \quad 0 \le t \le 2\pi$$

ب. فلک تدویر:

$$x = 8\cos t + 2\cos 4t, \quad y = 8\sin t - 2\sin 4t, \quad 0 \le t \le 2\pi$$

ج. زیرتدویر:

$$x = \cos t + 5\cos 3t, \quad y = 6\cos t - 5\sin 3t, \quad 0 \le t \le 2\pi$$

سوال ۱۰.۲۲۹: خوبصورت ترین منحنیات

ا. $x = 6\cos t + 5\cos 3t, \quad y = 6\sin t - 5\sin 3t, \quad 0 \le t \le 2\pi$

ب. $x = 6\cos 2t + 5\cos 6t, \quad y = 6\sin 2t - 5\sin 6t, \quad 0 \le t \le \pi$

ج. $x = 6\cos t + 5\cos 3t, \quad y = 6\sin 2t - 5\sin 3t, \quad 0 \le t \le 2\pi$

د. $x = 6\cos 2t + 5\cos 6t, \quad y = 6\sin 4t - 5\sin 6t, \quad 0 \le t \le \pi$

۱۰.۵ احصاءاور مقدار معلوم منحنیات

اس حصہ میں مقدار معلوم منحنیات کے ساتھ وابستہ ڈھلوان، لمبائی اور سطحی رقبے کی تلاش پر غور کیا جائے گا۔

۱۶۵۷۵ **مقدار معلوم منحنیات کی ڈھلوان**

۱۶۵۷۶ تعریف: نقطہ $t = t_0$ پر مقدار معلوم منحنی $x = f(t), y = g(t)$ اس صورت **قابل تفرق** ہو گی جب $t = t_0$ پر
۱۶۵۷۷ f اور g قابل تفرق ہوں۔ یہ منحنی تب **قابل تفرق** ہو گی جب ہر مقدار معلوم قیمت پر یہ قابل تفرق ہو۔ یہ منحنی اس صورت **ہموار**[۳۳] ہو گی جب f' اور
۱۶۵۷۸ g' استمراری ہوں اور دونوں بیک وقت صفر نہ ہوں۔

۱۶۵۷۹ □

۱۶۵۸۰ ایک قابل تفرق منحنی پر اس نقطہ پر جہاں x کے لحاظ سے بھی y قابل تفرق تفاعل ہو، تفرقات $\frac{dx}{dt}$ ، $\frac{dy}{dt}$ اور $\frac{dz}{dt}$ کا تعلق درج ذیل زنجیری قاعدہ دیتا
۱۶۵۸۱ ہے:

$$\frac{dy}{dt} = \frac{dy}{dx}\frac{dx}{dt}$$

۱۶۵۸۲ اگر $\frac{dx}{dt} \neq 0$ ہو تب ہم دونوں اطراف کو $\frac{dx}{dt}$ سے تقسیم کر کے $\frac{dy}{dx}$ حاصل کر سکتے ہیں۔

$\frac{dy}{dt}$ اور $\frac{dx}{dt}$ سے $\frac{dy}{dx}$ کا حصول $(\frac{dx}{dt} \neq 0)$

$$\frac{dy}{dx} = \frac{dy/dt}{dx/dt} \tag{۱}$$

۱۶۵۸۳ مثال ۱۰.۲۱: نقطہ $(\sqrt{2}, 1)$ جہاں $t = \frac{\pi}{4}$ ہے پر درج ذیل قطع زائد کے دائیں بازو کے مماس کی مساوت معلوم کریں (شکل ۱۰.۵۱)۔

$$x = \sec t, \quad y = \tan t, \quad -\frac{\pi}{2} < t < \frac{\pi}{2}$$

۱۶۵۸۴ حل: اس منحنی کی t پر ڈھلوان

$$\frac{dy}{dx} = \frac{dy/dt}{dx/dt} = \frac{\sec^2 t}{\sec t \tan t} = \frac{\sec t}{\tan t}$$

مساوات ۱

۱۶۵۸۵ ہے جس میں $t = \frac{\pi}{4}$ پر کرتے ہوئے

$$\left.\frac{dy}{dx}\right|_{t=\frac{\pi}{4}} = \frac{\sec(\frac{\pi}{4})}{\tan(\frac{\pi}{4})} = \frac{\sqrt{2}}{1} = \sqrt{2}$$

۱۶۵۸۶ حاصل ہو گا۔ مماس کی نقطہ و ڈھلوان مساوات درج ذیل ہو گی۔

$$\begin{aligned} y - y_0 &= m(x - x_0) \\ y - 1 &= \sqrt{2}(x - \sqrt{2}) \\ y &= \sqrt{2}x - 2 + 1 \\ y &= \sqrt{2}x - 1 \end{aligned}$$

---

[۳۳] smooth

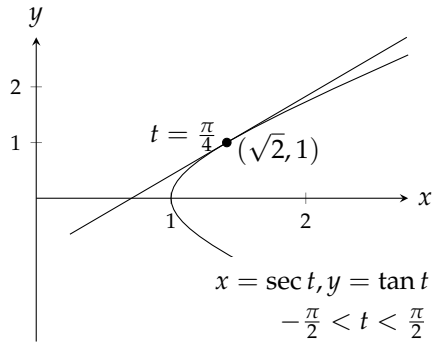

شکل ۱۰.۵۱: مثال ۱۰.۲۱ کا قطع زائد بازو۔

۱۶۵۸۷ □

۱۶۵۸۸ **مقدار معلوم کلیہ برائے $\frac{d^2 y}{dx^2}$**

۱۶۵۸۹ اگر ایک مقدار معلوم مساوات y کو x کا دوگنّا قابل تفرق تفاعل پیش کرتی ہو، ہم $\frac{d^2 y}{dx^2}$ کو t کا تفاعل درج ذیل طریقہ سے معلوم کر سکتے ہیں۔

$$\frac{d^2 y}{dx^2} = \frac{d}{dx}(y') = \frac{dy'/dt}{dx/dt}$$

مساوات ۱ میں y کی جگہ y' لیا گیا ہے

۱۶۵۹۰ یوں $y' = \frac{dy}{dx}$ اور $\frac{dx}{dt}$ سے $\frac{d^2 y}{dx^2}$ کے حصول کا کلیہ درج ذیل ہو گا جہاں $\frac{dx}{dt} \neq 0$ ہے۔

$$\frac{d^2 y}{dx^2} = \frac{dy'/dt}{dx/dt} \tag{۲}$$

۱۶۵۹۱ $\frac{d^2 y}{dx^2}$ کو t کی صورت میں لکھنے کے لئے درج ذیل اقدام لیں۔

۱۶۵۹۲ ا. $y' = \frac{dy}{dx}$ کو t کے لحاظ سے لکھیں۔

۱۶۵۹۳ ب. $\frac{dy'}{dt}$ معلوم کریں۔

۱۶۵۹۴ ج. $\frac{dy'}{dt}$ کو $\frac{dx}{dt}$ سے تقسیم کریں۔ ان کا حاصل تقسیم $\frac{d^2 y}{dx^2}$ ہو گا۔

۱۶۵۹۵ مثال ۱۰.۲۲: $x = t - t^2$ اور $y = t - t^3$ کی صورت میں $\frac{d^2 y}{dx^2}$ تلاش کریں۔

۱۶۵۹۶ حل: قدم ا: y' کو t کے لحاظ سے لکھیں:

$$y' = \frac{\mathrm{d}y}{\mathrm{d}x} = \frac{\mathrm{d}y/\,\mathrm{d}t}{\mathrm{d}x/\,\mathrm{d}t} = \frac{1-3t^2}{1-2t} \qquad \text{مساوات ا میں } x = t - t^2 \text{ اور } y = t - t^3$$

۱۶۵۹۷ قدم ب: t کے لحاظ سے y' کا تفرق لیں:

$$\begin{aligned}\frac{\mathrm{d}y'}{\mathrm{d}t} &= \frac{\mathrm{d}}{\mathrm{d}t}\left(\frac{1-3t^2}{1-2t}\right)\\ &= \frac{2-6t+6t^2}{(1-2t)^2}\end{aligned}$$

۱۶۵۹۸ قدم ج: $\frac{\mathrm{d}y'}{\mathrm{d}t}$ کو $\frac{\mathrm{d}x}{\mathrm{d}t}$ سے تقسیم کریں۔ چونکہ

$$\frac{\mathrm{d}x}{\mathrm{d}t} = \frac{\mathrm{d}}{\mathrm{d}t}(t-t^2) = 1-2t \qquad (x = t - t^2)$$

۱۶۵۹۹ ہے لہٰذا درج ذیل ہو گا۔

$$\begin{aligned}\frac{\mathrm{d}^2 y}{\mathrm{d}x^2} &= \frac{\mathrm{d}y'/\,\mathrm{d}t}{\mathrm{d}x/\,\mathrm{d}t} \qquad \text{مساوات ۲}\\ &= \frac{2-6t+6t^2}{(1-2t)^2}\cdot\frac{1}{1-2t}\\ &= \frac{2-6t+6t^2}{(1-2t)^3}\end{aligned}$$

۱۶۶۰۰ □

۱۶۶۰۱ مقدار معلوم منحنیات کی لمبائیاں

۱۶۶۰۲ ہم ہموار منحنی $x = f(t),\ y = g(t),\ a \le t \le b$ کی لمبائی کا تکمل حاصل کرنے کی خاطر ہم حصہ ۶.۵ کے تکمل $L = \int \mathrm{d}s$ کو
۱۶۶۰۳ درج ذیل صورت میں لکھتے ہیں۔

$$\begin{aligned}L &= \int_{t=a}^{t=b} \mathrm{d}s = \int_a^b \sqrt{\mathrm{d}x^2 + \mathrm{d}y^2}\\ &= \int_a^b \sqrt{\left(\frac{(\mathrm{d}x)^2}{(\mathrm{d}t)^2} + \frac{(\mathrm{d}y)^2}{(\mathrm{d}t)^2}\right)\mathrm{d}t^2} = \int_a^b \sqrt{\left(\frac{\mathrm{d}x}{\mathrm{d}t}\right)^2 + \left(\frac{\mathrm{d}y}{\mathrm{d}t}\right)^2}\,\mathrm{d}t\end{aligned}$$

۱۶۶۰۴ درج بالا متکمل استمراری ہونے کے علاوہ ضروری ہے کہ جب t کی قیمت a سے b تک بڑھتی ہو تب نقطہ $N(x,y) = N(f(t),g(t))$ ،
۱۶۶۰۵ منحنی کے کسی بھی حصہ پر ایک سے زیادہ مرتبہ نہ گزرتا ہو۔

لمبائی

اگر t کی قیمت a تا b کرنے سے ہموار منحنی $x = f(t),\ y = g(t),\ a \le t \le b$ پر ٹھیک ایک بار چلا جائے تب اس منحنی کی لمبائی درج ذیل ہو گی۔

$$L = \int_a^b \sqrt{\left(\frac{\mathrm{d}x}{\mathrm{d}t}\right)^2 + \left(\frac{\mathrm{d}y}{\mathrm{d}t}\right)^2}\,\mathrm{d}t \tag{۳}$$

حصہ ۶.۵ میں لمبائی کے کلیات مساوات ۳ کی مخصوص صورتیں ہیں (سوال ۱۰.۲۶۴ اور سوال ۱۰.۲۶۵)۔

اعلیٰ احصاء کہتی ہے کہ منحنی کی ایک سے زائد مقدار معلوم مساوات سے حاصل لمبائیاں ایک دوسری جیسی ہوں گی۔ پس انہیں مساوات ۳ سے قبل دیے گئے شرائط پر پورا اترنا ہو گا۔

مثال ۱۰.۲۳: ستارہ نما $x = \cos^3 t,\ y = \sin^3 t,\ 0 \le t \le 2\pi$ کی لمبائی معلوم کریں (شکل ۱۰.۵۲)۔

حل: محددی محور کے لحاظ سے منحنی کی تشاکلی کی وجہ سے کل منحنی کی لمبائی کسی ایک ربع میں اس کی لمبائی کے چار گنّا ہو گی۔ ہم ربع اول میں لمبائی معلوم کرتے ہیں۔ ہمارے پاس

$$\begin{aligned}
x &= \cos^3 t, \quad y = \sin^3 t \\
\left(\frac{\mathrm{d}x}{\mathrm{d}t}\right)^2 &= [3\cos^2 t(-\sin t)]^2 = 9\cos^4 t \sin^2 t \\
\left(\frac{\mathrm{d}y}{\mathrm{d}t}\right)^2 &= [3\sin^2 t(\cos t)]^2 = 9\sin^4 t \cos^2 t \\
\sqrt{\left(\frac{\mathrm{d}x}{\mathrm{d}t}\right)^2 + \left(\frac{\mathrm{d}y}{\mathrm{d}t}\right)^2} &= \sqrt{9\cos^2 t \sin^2 t(\cos^2 t + \sin^2 t)} \qquad \cos^2 t + \sin^2 t = 1 \\
&= \sqrt{9\cos^2 t \sin^2 t} \\
&= 3|\cos t \sin t| \\
&= 3\cos t \sin t
\end{aligned}$$

ہے جہاں آخری قدم میں $0 \le t \le \frac{\pi}{2}$ پر $\cos t \sin t \ge 0$ ہے۔ یوں ربع اول میں لمبائی درج ذیل ہو گی۔

$$\begin{aligned}
L &= \int_0^{\pi/2} 3\cos t \sin t\,\mathrm{d}t \\
&= \frac{3}{2}\int_0^{\pi/2} \sin 2t\,\mathrm{d}t \\
&= -\frac{3}{4}\cos 2t\Big|_0^{\pi/2} = \frac{3}{2}
\end{aligned}$$

ستارہ نما کی لمبائی چار گنّا ہو گی: $4(3/2) = 6$ □

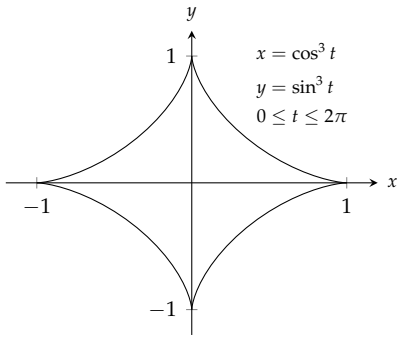

شکل ۱۰.۵۲: ستارہ نما برائے مثال ۱۰.۲۳

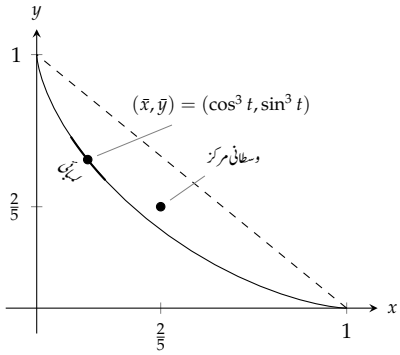

شکل ۱۰.۵۳: ستارہ نما کا وسطانی مرکز۔

۱۶۶۱۷ مثال ۱۰.۲۴: ربع اول میں مثال ۱۰.۲۳ کے ستارہ نما کا وسطانی مرکز معلوم کریں۔

۱۶۶۱۸ حل: ہم منحنی کی کثافت $\delta = 1$ لے کر حصہ ۶.۷ کی طرح اس کی کمیت اور محددی محور کے لحاظ سے معیار اثر معلوم کرتے ہیں۔

۱۶۶۱۹ لکیر $y = x$ کے لحاظ سے کمیت کا تقسیم تشاکلی ہے لہٰذا $\bar{x} = \bar{y}$ ہو گا۔ منحنی کے کسی عمومی قطعہ کی کمیت درج ذیل ہو گی (شکل ۱۰.۵۳)۔

$$\mathrm{d}m = 1 \cdot \mathrm{d}s = \sqrt{\left(\frac{\mathrm{d}x}{\mathrm{d}t}\right)^2 + \left(\frac{\mathrm{d}y}{\mathrm{d}t}\right)^2}\,\mathrm{d}t = 3\cos t \sin t\,\mathrm{d}t \qquad \text{مثال ۱۰.۲۳ دیکھیں}$$

۱۶۶۲۰ یوں منحنی کی کمیت

$$M = \int_0^{\pi/2} \mathrm{d}m = \int_0^{\pi/2} 3\cos t \sin t\,\mathrm{d}t = \frac{3}{2} \qquad \text{مثال ۱۰.۲۳ دیکھیں}$$

۱۶۶۲۱ ہو گی۔ محور x کے لحاظ سے منحنی کا معیار اثر

$$\begin{aligned} M_x = \int \bar{y}\,\mathrm{d}m &= \int_0^{\pi/2} \sin^3 t \cdot 3\cos t \sin t\,\mathrm{d}t \\ &= 3\int_0^{\pi/2} \sin^4 t \cos t\,\mathrm{d}t = 3 \cdot \left.\frac{\sin^5 t}{5}\right|_0^{\pi/2} = \frac{3}{5} \end{aligned}$$

۱۶۶۲۲ ہو گا۔ یوں

$$\bar{y} = \frac{M_x}{M} = \frac{3/5}{3/2} = \frac{2}{5}$$

۱۶۶۲۳ اور وسطانی نقطہ $\left(\frac{2}{5}, \frac{2}{5}\right)$ ہو گا۔ □

۱۶۲۴ **سطح طواف کا رقبہ**

۱۶۲۵ ہموار مقدار معلوم منحنیات کے لئے لمبائی کے کلیہ (مساوات ۳) سے، حصہ ۶.۶ میں کار تیسی کلیات کی طرح، سطح طواف کے درج ذیل کلیات اخذ ہوتے ہیں۔

۱۶۲۶ **سطحی رقبہ**

۱۶۲۷ اگر t کی قیمت a تا b کرنے سے ہموار منحنی $x = f(t),\ y = g(t),\ a \le t \le b$ پر ٹھیک ایک بار چلا جائے تب اس منحنی کو محددی
۱۶۲۸ محور کے گرد گھمانے سے پیدا سطح طواف کے رقبے درج ذیل ہوں گے۔

$$S = \int_a^b 2\pi y \sqrt{\left(\frac{\mathrm{d}x}{\mathrm{d}t}\right)^2 + \left(\frac{\mathrm{d}y}{\mathrm{d}t}\right)^2}\,\mathrm{d}t \qquad (y \ge 0)\ \text{محور } x \text{ کے گرد} \tag{۴}$$

$$S = \int_a^b 2\pi x \sqrt{\left(\frac{\mathrm{d}x}{\mathrm{d}t}\right)^2 + \left(\frac{\mathrm{d}y}{\mathrm{d}t}\right)^2}\,\mathrm{d}t \qquad (x \ge 0)\ \text{محور } y \text{ کے گرد} \tag{۵}$$

۱۶۲۹ لمبائی کی طرح ہم سطح طواف کی کسی بھی مقدار معلوم مساوات، جو درکار شرائط مطمئن کرتی ہو، سے سطح طواف کا رقبہ تلاش کر سکتے ہیں۔

۱۶۳۰ مثال ۱۰.۲۵: مستوی xy میں رداس 1 کا دائرہ جس کا مرکز $(0,1)$ پر ہو کی مقدار معلوم مساوات درج ذیل ہیں۔

$$x = \cos t, \quad y = 1 + \sin t, \quad 0 \le t \le 2\pi$$

۱۶۳۱ اس دائرے کو محور x کے گرد گھما کر سطح طواف پیدا کیا جاتا ہے۔ درج بالا مقدار معلوم مساوات استعمال کرتے ہوئے پیدا سطح طواف کا رقبہ تلاش کریں۔

۱۶۳۲ حل: سطح طواف کا رقبہ درج ذیل ہو گا۔

$$\begin{aligned}
S &= \int_a^b 2\pi y \sqrt{\left(\frac{\mathrm{d}x}{\mathrm{d}t}\right)^2 + \left(\frac{\mathrm{d}y}{\mathrm{d}t}\right)^2}\,\mathrm{d}t && \text{مساوات ۴} \\
&= \int_0^{2\pi} 2\pi(1+\sin t)\sqrt{(-\sin t)^2 + (\cos t)^2}\,\mathrm{d}t && \sin^2 t + \cos^2 t = 1 \\
&= 2\pi \int_0^{2\pi} (1+\sin t)\,\mathrm{d}t \\
&= 2\pi\,[t - \cos t]_0^{2\pi} = 4\pi^2
\end{aligned}$$

۱۶۳۳ □

۱۶۳۴ **سوالات**

۱۶۳۵ **مقدار معلوم منحنیات کے مماس**

۱۶۳۶ سوال ۱۰.۲۳۰ تا سوال ۱۰.۲۴۱ میں t پر مقدار معلوم منحنی کے مماس کی مساوات دریافت کریں گے۔ اس نقطہ پر $\frac{\mathrm{d}^2 y}{\mathrm{d}x^2}$ بھی معلوم کریں۔

۱۶۳۷ سوال ۱۰.۲۳۰: $x = 2\cos t, \quad y = 2\sin t, \quad t = \frac{\pi}{4}$

۱۶۳۸ سوال ۱۰.۲۳۱: $x = \sin 2\pi t, \quad y = \cos 2\pi t, \quad t = -\frac{1}{6}$

۱۶۳۹ سوال ۱۰.۲۳۲: $x = 4\sin t, \quad y = 2\cos t, \quad t = \frac{\pi}{4}$

۱۶۴۰ سوال ۱۰.۲۳۳: $x = \cos t, \quad y = \sqrt{3}\cos t, \quad t = \frac{2\pi}{3}$

۱۶۴۱ سوال ۱۰.۲۳۴: $x = t, \quad y = \sqrt{t}, \quad t = \frac{1}{4}$

۱۶۴۲ سوال ۱۰.۲۳۵: $x = \sec^2 t - 1, \quad y = \tan t, \quad t = -\frac{\pi}{4}$

۱۶۴۳ سوال ۱۰.۲۳۶: $x = \sec t, \quad y = \tan t, \quad t = \frac{\pi}{6}$

۱۶۴۴ سوال ۱۰.۲۳۷: $x = -\sqrt{t+1}, \quad y = \sqrt{3t}, \quad t = 3$

۱۶۴۵ سوال ۱۰.۲۳۸: $x = 2t^2 + 3, \quad y = t^4, \quad t = -1$

۱۶۴۶ سوال ۱۰.۲۳۹: $x = \frac{1}{t}, \quad y = -2 + \ln t, \quad t = 1$

۱۶۴۷ سوال ۱۰.۲۴۰: $x = t - \sin t, \quad y = 1 - \cos t, \quad t = \frac{\pi}{3}$

۱۶۴۸ سوال ۱۰.۲۴۱: $x = \cos t, \quad y = 1 + \sin t, \quad t = \frac{\pi}{2}$

۱۶۴۹

۱۶۵۰ خفی مقدار معلوم مساوات

۱۶۵۱ سوال ۱۰.۲۴۲ تا سوال ۱۰.۲۴۵ میں x اور y بطور قابل تفرق خفی مقدار معلوم تفاعل $x = f(t)$ ، $y = g(t)$ دیے گئے ہیں۔ دیے گئے t
۱۶۵۲ پر منحنی $x = f(t),\ t = g(t)$ کی ڈھلوان تلاش کریں۔

۱۶۵۳ سوال ۱۰.۲۴۲: $x^2 - 2tx + 2t^2 = 4, \quad 2y^3 - 3t^2 = 4, \quad t = 2$

۱۶۵۴ سوال ۱۰.۲۴۳: $x = \sqrt{5 - \sqrt{t}}, \quad y(t-1) = \ln y, \quad t = 1$

۱۶۵۵ سوال ۱۰.۲۴۴: $x + 2x^{3/2} = t^2 + t, \quad y\sqrt{t+1} + 2t\sqrt{y} = 4, \quad t = 0$

۱۶۵۶ سوال ۱۰.۲۴۵: $x\sin t + 2x = t, \quad t\sin t - 2t = y, \quad t = \pi$

۱۶۵۷

۱۶۵۸ منحنیات کی لمبائیاں

۱۶۵۹ سوال ۱۰.۲۴۶ تا سوال ۱۰.۲۵۱ میں منحنیات کی لمبائیاں تلاش کریں۔

۱۶۶۰ سوال ۱۰.۲۴۶: $x = \cos t, \quad y = t + \sin t, \quad 0 \le t \le \pi$

۱۶۶۱ سوال ۱۰.۲۴۷: $x = t^3, \quad y = \frac{3t^2}{2}, \quad 0 \le t \le \sqrt{3}$

۱۶۶۲ سوال ۱۰.۲۴۸: $x = \frac{t^2}{2}, \quad y = \frac{(2t+1)^{3/2}}{3}, \quad 0 \le t \le 4$

سوال ۱۰.۲۴۹: $x = \frac{(2t+3)^{3/2}}{3}, \quad y = t + \frac{t^2}{2}, \quad 0 \le t \le 3$

سوال ۱۰.۲۵۰: $x = 8\cos t + 8t\sin t,\ y = 8\sin t - 8t\cos t,\ 0 \le t \le \frac{\pi}{2}$

سوال ۱۰.۲۵۱: $x = \ln(\sec t + \tan t) - \sin t,\ y = \cos t,\ 0 \le t \le \frac{\pi}{3}$

سطح رقبے

سوال ۱۰.۲۵۲ تا سوال ۱۰.۲۵۵ میں دیے گئے محور کے گرد منحنی گھما کر سطح طواف پیدا کیا جاتا ہے۔ اس سطح کا رقبہ معلوم کریں۔

سوال ۱۰.۲۵۲: محور x ؛ $x = \cos t, \quad y = 2 + \sin t, \quad 0 \le t \le 2\pi$

سوال ۱۰.۲۵۳: محور y ؛ $x = \frac{2}{3}t^{3/2}, \quad y = 2\sqrt{t}, \quad 0 \le t \le \sqrt{3}$

سوال ۱۰.۲۵۴: محور y ؛ $x = t + \sqrt{2}, \quad y = \frac{t^2}{2} + \sqrt{2}t, \quad -\sqrt{2} \le t \le \sqrt{2}$

سوال ۱۰.۲۵۵: محور x ؛ $x = \ln(\sec t + \tan t) - \sin t, \quad y = \cos t, \quad 0 \le t \le \frac{\pi}{3}$

سوال ۱۰.۲۵۶: مخروط مقطوع

نقطہ $(0,1)$ اور $(2,2)$ کے بیچ لکیر کو محور x کے گرد گھما کر مخروط مقطوع کا سطح طواف پیدا کیا جاتا ہے۔ مقدار معلوم مساوات $x = 2t,\ y = t + 1,\ 0 \le t \le 1$ استعمال کرتے ہوئے سطح طواف کا رقبہ معلوم کریں۔ نتیجہ کا جیومیٹری کے کلیہ (ترچھا قد) $S = \pi(r_1 + r_2)$ کے ساتھ موازنہ کریں۔

سوال ۱۰.۲۵۷: مخروط

مبدا اور نقطہ (h,r) کے بیچ قطعہ کو محور x کے گرد گھما کر مخروط سطح طواف پیدا کیا جاتا ہے جس کے قاعدے کا رداس r اور قد h ہوں گے۔ مقدار معلوم مساوات $x = ht,\ y = rt,\ 0 \le t \le 1$ استعمال کرتے ہوئے سطح طواف کا رقبہ تلاش کریں۔ نتیجے کا موازنہ جیومیٹری کے کلیہ (ترچھا قد) $S = \pi r$ کے ساتھ کریں۔

وسطانی مراکز

سوال ۱۰.۲۵۸: (ا) درج ذیل منحنی کے وسطانی مرکز کے محدد تلاش کریں۔

$$x = \cos t + t\sin t, \quad y = \sin t - t\cos t, \quad 0 \le t \le \frac{\pi}{2}$$

(ب) یہ منحنی شکل ۱۰.۴۵ میں دکھائی گئی درپیچیدہ کا حصہ ہے۔ اس منحنی کو ترسیم کریں۔ منحنی کا وسطانی مرکز 1 اعشاریہ تک تلاش کر کے ترسیم پر دکھائیں۔

سوال ۱۰.۲۵۹: (ا) درج ذیل منحنی کے وسطانی مرکز کے محدد تلاش کریں۔

$$x = e^t\cos t, \quad y = e^t\sin t, \quad 0 \le t \le \pi$$

(ب) اس منحنی کو ترسیم کریں۔ منحنی کا وسطانی مرکز 1 اعشاریہ تک تلاش کر کے ترسیم پر دکھائیں۔

۱۶۶۸۷ سوال ۱۰.۲۶۰: (ا) درج ذیل منحنی کے وسطانی مرکز کے محدد تلاش کریں۔

$$x = \cos t, \quad y = t + \sin t, \quad 0 \le t \le \pi$$

۱۶۶۸۸ (ب) اس منحنی کو ترسیم کریں۔ منحنی کا وسطانی مرکز 1 اعشاریہ تک تلاش کر کے ترسیم پر دکھائیں۔

۱۶۶۸۹ سوال ۱۰.۲۶۱: تکمل کی قیمت

۱۶۶۹۰ وسطانی مراکز کے مسائل کو عموماً کیلکولیٹر یا کمپیوٹر کی مدد سے حل کیا جاتا ہے۔ درج ذیل منحنی کا وسطانی مرکز 2 اعشاریہ تک کیلکولیٹر یا کمپیوٹر کی مدد سے تلاش

۱۶۶۹۱ کریں۔

$$x = t^3,\ y = \tfrac{3}{2}t^2,\ 0 \le t \le \sqrt{3}$$

۱۶۶۹۲

۱۶۶۹۳ **نظریہ اور مثالیں**

۱۶۶۹۴ سوال ۱۰.۲۶۲: لمبائی کا دارومدار مقدار معلوم مساوات پر نہیں ہوتا ہے۔

۱۶۶۹۵ نصف دائرہ $y = \sqrt{1 - x^2}$ کی لمبائی درج ذیل مقدار معلوم مساوات استعمال کرتے ہوئے تلاش کریں۔

۱۶۶۹۶ ا. $x = \cos 2t,\ y = \sin 2t,\ 0 \le t \le \frac{\pi}{2}$

۱۶۶۹۷ ب. $x = \sin \pi t,\ y = \cos \pi t,\ -\frac{1}{2} \le t \le \frac{1}{2}$

۱۶۶۹۸ آپ دیکھیں گے کہ دونوں جوابات یکساں ہیں۔

۱۶۶۹۹ سوال ۱۰.۲۶۳: ترخیمی تکمل

۱۶۷۰۰ ترخیم $x = a\cos t,\ y = b\sin t,\ 0 \le t \le 2\pi$ کی لمبائی درج ذیل ہے

$$L = 4a \int_0^{\pi/2} \sqrt{1 - e^2 \cos^2 t}\, \mathrm{d}t$$

۱۶۷۰۱ جہاں e ترخیم کی سنک ہے۔ ماسوائے $e = 0$ یا $e = 1$ یہ تکمل، جو **ترخیمی تکمل**[۳۴] کہلاتا ہے، غیر بنیادی ہے۔

۱۶۷۰۲ ا. قاعدہ ذوزنقہ میں $n = 10$ لے کر $a = 1$ اور $e = \frac{1}{2}$ کے لئے اس ترخیم کی لمبائی کا اندازہ لگائیں۔

۱۶۷۰۳ ب. تفاعل $f(t) = \sqrt{1 - e^2 \cos^2 t}$ کے دوگنّا تفرق کی قیمت 1 سے کم ہے۔ اس حقیقت کو استعمال کرتے ہوئے جزو-ا میں حاصل قیمت

۱۶۷۰۴ میں خلل کا بالائی حد تلاش کریں۔

۱۶۷۰۵ سوال ۱۰.۲۶۴: جیسا حصہ ۱۰.۴ میں ذکر کیا گیا، وقفہ $[a, b]$ پر تفاعل $y = f(x)$ کے ترسیم کی مقدار معلوم روپ درج ذیل ہو گی۔

$$x = x, \quad y = f(x), \quad a \le x \le b$$

۱۶۷۰۶ یہاں x از خود مقدار معلوم ہے۔

---

[۳۴] ellipticintegral

۱۶۷۰۷ اس مقدار معلوم روپ کے لئے دکھائیں کہ مقدار معلوم لمبائی

$$L = \int_a^b \sqrt{\left(\frac{\mathrm{d}x}{\mathrm{d}t}\right)^2 + \left(\frac{\mathrm{d}y}{\mathrm{d}t}\right)^2}\,\mathrm{d}t$$

۱۶۷۰۸ درج ذیل کارتیسی صورت اختیار کرتی ہے جس کو حصہ ۶.۵ میں حاصل کیا گیا۔

$$L = \int_a^b \sqrt{1 + \left(\frac{\mathrm{d}y}{\mathrm{d}x}\right)^2}\,\mathrm{d}x$$

۱۶۷۰۹ یوں کارتیسی کلیہ درحقیقت مقدار معلوم کلیہ کی ایک مخصوص صورت ہے۔

۱۶۷۱۰ سوال ۱۰.۲۶۵: دکھائیں کہ منحنی $x = g(y),\ c \le y \le d$ کی لمبائی کا کارتیسی کلیہ (مساوات ۳)

$$L = \int_c^d \sqrt{1 + \left(\frac{\mathrm{d}x}{\mathrm{d}y}\right)^2}\,\mathrm{d}y$$

۱۶۷۱۱ درحقیقت درج ذیل مقدار معلوم کلیہ کی مخصوص صورت ہے۔

$$L = \int_a^b \sqrt{\left(\frac{\mathrm{d}x}{\mathrm{d}t}\right)^2 + \left(\frac{\mathrm{d}y}{\mathrm{d}t}\right)^2}\,\mathrm{d}t$$

۱۶۷۱۲ سوال ۱۰.۲۶۶: درج ذیل تدویر کی ایک محراب کے نیچے رقبہ تلاش کریں۔

$$x = a(\theta - \sin\theta), \quad y = a(1 - \cos\theta)$$

۱۶۷۱۳ (اشارہ: $\mathrm{d}x = \frac{\mathrm{d}x}{\mathrm{d}\theta}\,\mathrm{d}\theta$ استعمال کریں۔)

۱۶۷۱۴ سوال ۱۰.۲۶۷: درج ذیل تدویر کی ایک محراب کی لمبائی معلوم کریں۔

$$x = a(\theta - \sin\theta), \quad y = a(1 - \cos\theta)$$

۱۶۷۱۵ سوال ۱۰.۲۶۸: تدویر $x = \theta - \sin\theta,\ y = 1 - \cos\theta$ کی ایک محراب کو محور x کے گرد گھما کر سطح طواف پیدا کیا جاتا ہے۔ اس
۱۶۷۱۶ سطح کا رقبہ تلاش کریں۔

۱۶۷۱۷ سوال ۱۰.۲۶۹: محور x اور تدویر $x = \theta - \sin\theta,\ y = 1 - \cos\theta$ کے ایک محراب کے بیچ خطہ کو محور x کے گرد گھما کر جسم
۱۶۷۱۸ طواف پیدا کیا جاتا ہے۔ اس ٹھوس جسم کا حجم تلاش کریں۔ (اشارہ: $\mathrm{d}H = \pi y^2\,\mathrm{d}x = \pi y^2 \frac{\mathrm{d}x}{\mathrm{d}\theta}\,\mathrm{d}\theta$)

۱۶۷۱۹

۱۶۷۲۰ کمپیوٹر کا استعمال

۱۶۷۲۱ سوال ۱۰.۲۷۰ اور سوال ۱۰.۲۷۰ میں لساجو اشکال[۳۵] دکھائی گئی ہیں۔ دونوں سوالات میں ربع اول میں وہ نقطہ تلاش کریں جہاں منحنی کا مماس افقی ہو۔
۱۶۷۲۲ مبدا پر دو مماس کی مساوات تلاش کریں۔

---

[۳۵] Lissajousfigures

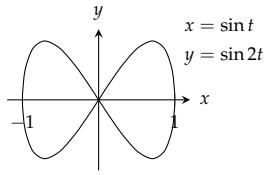

شکل ۱۰.۵۴: ترسیم سوال ۱۰.۲۷۰

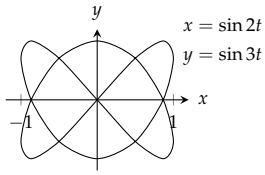

شکل ۱۰.۵۵: ترسیم سوال ۱۰.۲۷۱

۱۶۷۳۳ سوال ۱۰.۲۷۰: ترسیم شکل ۱۰.۵۴ میں دی گئی ہے۔

۱۶۷۳۴ سوال ۱۰.۲۷۱: ترسیم شکل ۱۰.۵۵ میں دی گئی ہے۔

۱۶۷۳۵

۱۶۷۳۶ سوال ۱۰.۲۷۲ تا سوال ۱۰.۲۷۸ میں تفاعل کو اپنی مرضی کے مقدار معلوم وقفہ پر ترسیم کریں۔ یہ ترسیمات لساجس اشکال ہیں جن کا عمومی کلیہ درج ذیل ہے

$$x = a\sin(mt + d), \quad y = b\sin nt$$

۱۶۷۳۷ جہاں m اور n عدد صحیح ہیں۔

۱۶۷۳۸ سوال ۱۰.۲۷۲: $x = \sin 2t, \quad y = \sin t$

۱۶۷۳۹ سوال ۱۰.۲۷۳: $x = \sin 3t, \quad y = \sin 4t$

۱۶۷۴۰ سوال ۱۰.۲۷۴: $x = \sin t, \quad y = \sin 4t$

۱۶۷۴۱ سوال ۱۰.۲۷۵: $x = \sin t, \quad y = \sin 5t$

۱۶۷۴۲ سوال ۱۰.۲۷۶: $x = \sin 3t, \quad y = \sin 5t$

۱۶۷۴۳ سوال ۱۰.۲۷۷: $x = \sin(3t + \pi/2), \quad y = \sin 5t$

۱۶۷۴۴ سوال ۱۰.۲۷۸: $x = \sin(3t + \pi/4), \quad y = \sin 5t$

۱۶۷۴۵

۱۶۷۴۶ سوال ۱۰.۲۷۹ تا سوال ۱۰.۲۸۴ میں دیے مقدار معلوم منحنیات پر کمپیوٹر کی مدد سے درج ذیل اقدام کریں۔

۱۶۷۴۷ ا. منحنی کو t کے دیے گئے وقفہ پر ترسیم کریں۔

۱۶۷۴۸ ب. نقطہ t_0 پر $\frac{\mathrm{d}y}{\mathrm{d}x}$ اور $\frac{\mathrm{d}^2y}{\mathrm{d}x^2}$ تلاش کریں۔

۱۶۷۴۹ ج. نقطہ t_0 پر منحنی کے مماس کی مساوات تلاش کریں۔ منحنی کی ترسیم پر اس مماس کو دکھائیں۔

۱۶۷۵۰ د. منحنی کی لمبائی دیے گئے وقفہ پر معلوم کریں۔

سوال ۱۰.۲۷۹: $x = \frac{1}{3}t^3, \quad y = \frac{1}{2}t^2, \quad 0 \le t \le 1, \quad t_0 = \frac{1}{2}$

سوال ۱۰.۲۸۰: $x = 2t^3 - 16t^2 + 25t + 5, \quad y = t^2 + t - 3, \quad 0 \le t \le 6, \quad t_0 = \frac{3}{2}$

سوال ۱۰.۲۸۱: $x = e^t - t^2, \quad y = t + e^{-t}, \quad -1 \le t \le 2, \quad t_0 = 1$

سوال ۱۰.۲۸۲: $x = t - \cos t, \quad y = 1 + \sin t, \quad -\pi \le t \le \pi, \quad t_0 = \frac{\pi}{4}$

سوال ۱۰.۲۸۳: $x = e^t + \sin 2t, \quad y = e^t + \cos(t^2), \quad -\sqrt{2}\pi \le t \le \pi/4, \quad t_0 = -\frac{\pi}{4}$

سوال ۱۰.۲۸۴: $x = e^t \cos t, \quad y = e^t \sin t, \quad 0 \le t \le \pi, \quad t_0 = \frac{\pi}{2}$

سوال ۱۰.۲۸۵ اور سوال ۱۰.۲۸۶ میں x اور y کو t کا خفی مقدار معلوم تفاعل دیا گیا ہے۔ کمپیوٹر کی مدد سے درج ذیل اقدام کریں۔

ا. پہلی مساوات کو x کے لئے اور دوسری مساوات کو y کے لئے حل کر کے $x = f(t)$ اور $y = g(t)$ معلوم کریں۔

ب. نقطہ t_0 پر منحنی $x = f(t)$ اور $y = g(t)$ کی ڈھلوان معلوم کریں۔

ج. نقطہ t_0 پر منحنی کے مماس کی مساوات معلوم کریں۔

د. دیے گئے وقفہ پر منحنی اور نقطہ t_0 پر مماس ترسیم کریں۔

سوال ۱۰.۲۸۵: $x^2 - 2tx + 3t^2 = 4, \quad y^3 - 2t^2 = 7, \quad -1 \le t \le 2, \quad t_0 = 1$

سوال ۱۰.۲۸۶: $x^2 \cos t + 2x = t, \quad t \sin t + 2\sqrt{y} = y, \quad -2\pi \le t \le 2\pi, \quad t_0 = -\frac{\pi}{4}$

۱۰.۶ قطبی محدد

اس حصہ میں ہم قطبی محدد اور کارتیسی محدد کے ساتھ ان کے تعلق پر غور کریں گے۔ اگرچہ مستوی پر ایک نقطہ کے صرف ایک جوڑی کارتیسی محدد ہوتے ہیں، اسی نقطہ کے قطبی محدد کی جوڑیوں کی تعداد لامتناہی ہوتی ہے۔ جیسا ہم اگلے حصہ میں دیکھیں گے، ترسیم پر اس کے دلچسپ اثرات مرتب ہوتے ہیں۔

قطبی محدد کی تعریف

قطبی محدد متعارف کرنے کی خاطر ہم ایک **مبدا**[۳۶] O جو **قطب**[۳۷] کہلائے گا اور O سے ایک **ابتدائی شعاع** مقرر کرتے ہیں (شکل ۱۰.۵۶)۔ اب ہر نقطہ N کے مقام کو **قطبی محددی جوڑی** (r, θ) سے ظاہر کیا جا سکتا ہے جہاں O سے N تک فاصلہ r اور ابتدائی شعاع سے ON تک زاویہ θ ہوں گے۔

---

[۳۶] origin
[۳۷] pole

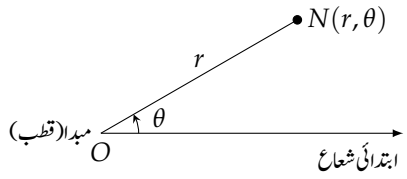

شکل ۱۰.۵۶: قطبی محدد کی تعریف کے لئے ہم مبدا اور ابتدائی شعاع لیتے ہیں۔

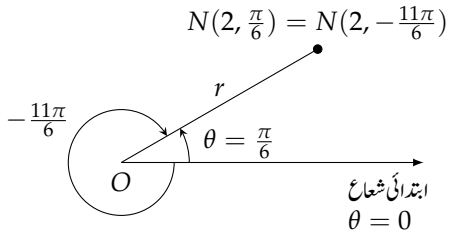

شکل ۱۰.۵۷: قطبی محدد یکتا نہیں ہیں۔

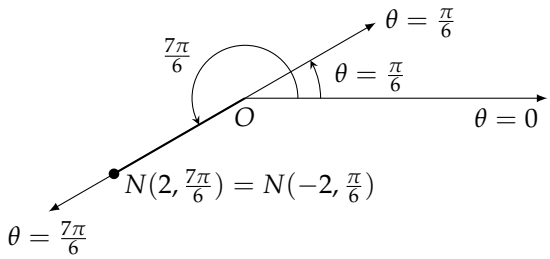

شکل ۱۰.۵۸: قطبی محدد میں r منفی ہو سکتا ہے۔

تکونیات کی طرح یہاں بھی گھڑی کے الٹ رخ θ کو مثبت جبکہ گھڑی کے رخ اس کو منفی تصور کیا جاتا ہے۔ کسی ایک نقطہ کے ساتھ منسلک زاویہ یکتا نہیں ہوتا ہے۔ مثال کے طور پر مبدا سے 2 اکائی دور شعاع $\theta = \frac{\pi}{6}$ پر واقع نقطہ کے قطبی محدد $r = 2$ ، $\theta = \frac{\pi}{6}$ ہیں۔ اسی نقطہ کے قطبی محدد $r = 2$ ، $\theta = -\frac{11\pi}{6}$ بھی ہوں گے (شکل ۱۰.۵۷)۔

r کی منفی قیمتیں

بعض اوقات ہم r کو منفی رکھنا چاہتے ہیں۔ مثال کے طور پر نقطہ $N(2,\frac{7\pi}{6})$ تک پہنچنے کے لئے ہم ابتدائی شعاع سے گھڑی کے الٹ رخ $\frac{7\pi}{6}$ گھوم کر آگے رخ 2 اکائیاں چلتے ہیں۔ اسی نقطہ تک پہنچنے کی خاطر ہم گھڑی کے الٹ رخ $\frac{\pi}{6}$ گھوم کر پیچھے رخ 2 اکائیاں چلیں گے (شکل ۱۰.۵۸)۔ یوں اس نقطے کے قطبی محدد $r = -2$ ، $\theta = \frac{\pi}{6}$ بھی ہوں گے۔

مثال ۱۰.۲۶: نقطہ $N(2,\frac{\pi}{6})$ کے قطبی محدد تلاش کریں۔

حل: ہم قطبی محدد کا مبدا اور ابتدائی شعاع ترسیم کرتے ہیں۔ ابتدائی شعاع کے ساتھ $\frac{\pi}{6}$ زاویے پر شعاع ترسیم کر کے اس پر مبدا سے 2 اکائیاں فاصلہ پر نقطہ $N(2,\frac{\pi}{6})$ ہو گا۔ ہم اب $r = 2$ اور $r = -2$ لیتے ہوئے اس نقطہ کے لئے دیگر قطبی محدد تلاش کرتے ہیں۔

$r = 2$ کے لئے درج ذیل زاویے ہوں گے۔

$$\frac{\pi}{6},\quad \frac{\pi}{6}\pm 2\pi,\quad \frac{\pi}{6}\pm 4\pi,\quad \frac{\pi}{6}\pm 6\pi,\quad \cdots$$

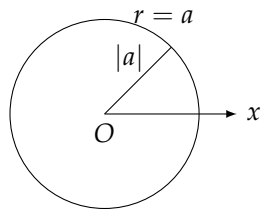

شکل ۱۰.۵۹: قطبی محدد پر $r = a$ دائرہ ہوگا۔

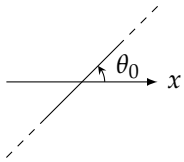

شکل ۱۰.۶۰: قطبی محدد پر $\theta = \theta_0$ سیدھی لکیر ہے۔

۱۶۷۷۵ $r = -2$ کے لئے درج ذیل زاویے ہوں گے۔

$$-\frac{5\pi}{6}, \quad -\frac{5\pi}{6} \pm 2\pi, \quad -\frac{5\pi}{6} \pm 4\pi, \quad -\frac{5\pi}{6} \pm 6\pi, \quad \cdots$$

۱۶۷۷۶ یوں N کے مطابقتی محددی جوڑیاں

$$(2, \tfrac{\pi}{6} + 2n\pi), \quad n = 0, \pm 1, \pm 2, \cdots$$

۱۶۷۷۷ اور

$$(-2, -\tfrac{5\pi}{6} + 2n\pi), \quad n = 0, \pm 1, \pm 2, \cdots$$

۱۶۷۷۸ ہوں گی۔ یہ کلیات $n = 0$ کے لئے $(2, \frac{\pi}{6})$ اور $(-2, -\frac{5\pi}{6})$ دیتے ہیں۔ اسی طرح $n = 1$ کے لئے یہ کلیات $(2, \frac{13\pi}{6})$ اور
۱۶۷۷۹ $(-2, \frac{7\pi}{6})$ دیتے ہیں، وغیرہ، وغیرہ۔ یوں نقطہ $N(2, \frac{\pi}{6})$ کی لامتناہی قطبی محددی جوڑیاں پائی جاتی ہیں۔ □

۱۶۷۸۰ **بنیادی محددی مساوات اور عدم مساوات**

۱۶۷۸۱ اگر ہم r کو کسی مقررہ قیمت $r = a \neq 0$ پر رکھیں تب نقطہ $N(r, \theta)$ مبداء سے $|a|$ فاصلہ پر ہوگا۔ زاویہ θ کو وقفہ 0 تا 2π پر تبدیل
۱۶۷۸۲ کرنے سے نقطہ $N(r, \theta)$ مبداء سے رداس $|a|$ کے دائرہ پر چلے گا (شکل ۱۰.۵۹)۔

۱۶۷۸۳ اگر ہم θ کو مقررہ قیمت $\theta = \theta_0$ پر رکھ کر r کو $-\infty$ تا ∞ کریں تب $N(r, \theta)$ مبداء سے گزرتی ہوئی اس سیدھی لکیر پر حرکت کرے گا جو
۱۶۷۸۴ ابتدائی شعاع کے ساتھ زاویہ θ_0 بناتی ہے (شکل ۱۰.۶۰)۔

ترسیم	مساوات
رداس $|a|$ کا دائرہ جس کا مرکز O ہے	$r = a$
ابتدائی شعاع کے ساتھ θ_0 زاویے کی لکیر	$\theta = \theta_0$

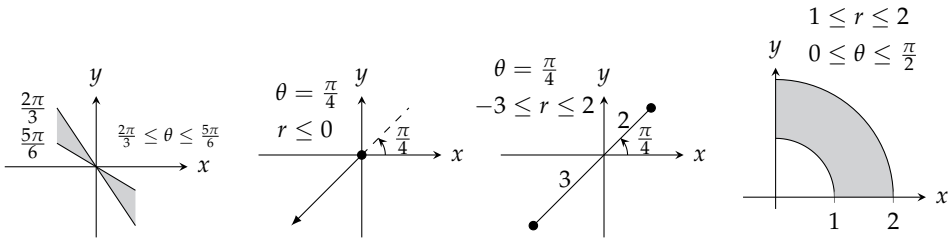

شکل ۱۰.۶۱: ترسیمات برائے مثال ۱۰.۲۸

۱۶۷۸۵ مثال ۱۰.۲۷: (ا) $r = 1$ اور $r = -1$ رداس 1 کے دائرے کی مساوات ہے جس کا مرکز مبدا پر ہے۔

۱۶۷۸۶ (ب) $\theta = \frac{\pi}{6}$ ، $\theta = \frac{7\pi}{6}$ اور $\theta = -\frac{5\pi}{6}$ اس سیدھی لکیر کی مساوات ہے جو مبدا سے گزرتی ہے اور ابتدائی شعاع کے ساتھ زاویہ $\frac{\pi}{6}$ بناتی

۱۶۷۸۷ ہے۔ □

۱۶۷۸۸ مساوات $r = a$ اور $\theta = \theta_0$ کو جوڑ کر دیگر قطعات، حصے اور شعاع بیان کیے جا سکتے ہیں۔

۱۶۷۸۹ مثال ۱۰.۲۸: ان نقطوں کے سلسلہ کو ترسیم کریں جن کے قطبی محدد درج ذیل کو مطمئن کرتے ہوں۔

۱۶۷۹۰ ا. $0 \le \theta \le \frac{\pi}{2}$ اور $1 \le r \le 2$

۱۶۷۹۱ ب. $\theta = \frac{\pi}{4}$ اور $-3 \le r \le 2$

۱۶۷۹۲ ج. $\theta = \frac{\pi}{4}$ اور $r \le 0$

۱۶۷۹۳ د. $-\infty < r < \infty$ اور $\frac{2\pi}{3} \le \theta \le \frac{5\pi}{6}$

۱۶۷۹۴ حل: ترسیمات کو شکل ۱۰.۶۱ میں دکھایا گیا ہے۔ □

۱۶۷۹۵ **کارتیسی بالمقابل قطبی محدد**

۱۶۷۹۶ ایک مستوی میں بیک وقت کارتیسی اور قطبی محدد استعمال کرتے ہوئے ہم دونوں محدد کے مبدا ایک ہی نقطہ پر رکھتے ہیں اور ابتدائی شعاع کو مثبت x محور پر

۱۶۷۹۷ رکھتے ہیں۔ یوں شعاع $\theta = \frac{\pi}{2}, r > 0$ مثبت y محور ہو گا (شکل ۱۰.۶۲)۔ اب ان محددی نظام کے تعلقات درج ذیل ہوں گے۔

$$x = r\cos\theta, \quad y = r\sin\theta, \quad x^2 + y^2 = r^2, \quad \frac{y}{x} = \tan\theta \tag{ا}$$

۱۶۷۹۸ ہم مساوات ا استعمال کرتے ہوئے قطبی مساوات سے کارتیسی مساوات اور کارتیسی مساوات سے قطبی مساوات حاصل کر سکتے ہیں۔

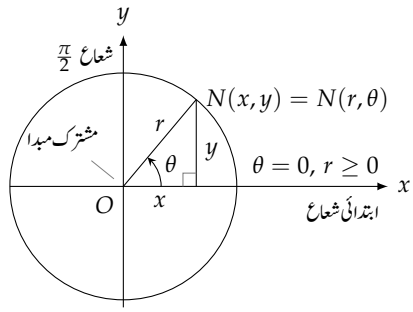

شکل ۱۰.۶۲: کارتیسی اور قطبی محدد کے تعلقات معلوم کرنے کا عمومی طریقہ۔

۱۶۷۹۹ مثال ۱۰.۲۹:

کارتیسی مساوات	قطبی مساوات
$x = 2$	$r\cos\theta = 2$
$xy = 4$	$r^2\cos\theta\sin\theta = 4$
$x^2 - y^2 = 1$	$r^2\cos^2\theta - r^2\sin^2\theta = 1$
$y^2 - 3x^2 - 4x - 1 = 0$	$r = 1 + 2r\cos\theta$
$x^4 + y^4 + 2x^2y^2 + 2x^3 + 2xy^2 - y^2 = 0$	$r = 1 - \cos\theta$

۱۶۸۰۰ آپ دیکھ سکتے ہیں کہ بعض اوقات کارتیسی اور بعض اوقات قطبی مساوات زیادہ سادہ ہوتے ہیں۔ □

۱۶۸۰۱ مثال ۱۰.۳۰: دائرہ $x^2 + (y-3)^2 = 9$ کی قطبی مساوات معلوم کریں۔

۱۶۸۰۲ حل:

مساوات کی سادہ صورت

$$x^2 + y^2 = r^2$$

$$\begin{aligned} x^2 + y^2 - 6y + 9 &= 0 \\ x^2 + y^2 - 6y &= 0 \\ r^2 - 6r\sin\theta &= 0 \\ r = 0 \quad \text{یا} \quad r - 6\sin\theta &= 0 \\ r &= 6\sin\theta \end{aligned}$$

۱۶۸۰۳ مخروط حصوں کی قطبی مساوات پر حصہ ۱۰.۸ میں غور کیا جائے گا۔ □

۱۶۸۰۴ مثال ۱۰.۳۱: دی گئی قطبی مساوات سے کارتیسی مساوات حاصل کر کے ترسیم کو پہچانئے۔

۱۲۸۰۵ ا. $r\cos\theta = -4$

۱۲۸۰۶ ب. $r^2 = 4r\cos\theta$

۱۲۸۰۷ ج. $r = \frac{4}{2\cos\theta - \sin\theta}$

۱۲۸۰۸ حل: ہم $r\cos\theta = x$ ، $r\sin\theta = y$ اور $r^2 = x^2 + y^2$ استعمال کرتے ہیں۔

ا.

$$\begin{aligned}\underbrace{r\cos\theta}_{x} &= -4\\ x &= -4\end{aligned}$$

۱۲۸۰۹ ترسیم: انتصابی لکیر جو x محور کو $x = -4$ پر قطع کرتی ہے۔

ب.

$$\begin{aligned}r^2 &= 4r\cos\theta\\ x^2 + y^2 &= 4x\\ x^2 - 4x + y^2 &= 0\\ x^2 - 4x + 4 + y^2 &= 4\\ (x-2)^2 + y^2 &= 4\end{aligned}$$

۱۲۸۱۰ ترسیم: ایک دائرہ جس کا مرکز $(2,0)$ اور رداس 2 ہے۔

ج.

$$\begin{aligned}r(2\cos\theta - \sin\theta) &= 4\\ 2r\cos\theta - r\sin\theta &= 4\\ 2x - y &= 4\\ y &= 2x - 4\end{aligned}$$

۱۲۸۱۱ ترسیم: ایک سیدھی لکیر جس کی ڈھلوان $m = 2$ ہے اور جو y محور کو $y = -4$ پر قطع کرتی ہے۔

۱۲۸۱۲ □

۱۲۸۱۳ **سوالات**

۱۲۸۱۴ **قطبی محددی جوڑیاں**

۱۲۸۱۵ سوال ۱۰.۲۸۷: کون سی محددی جوڑیاں ایک ہی نقطہ کو ظاہر کرتی ہیں۔

۱۲۸۱۶

۱۶۸۱۷ ا. $(3,0)$ ۱۶۸۱۹ ج. $(2,\frac{2\pi}{3})$ ۱۶۸۲۱ ھ. $(-3,\pi)$ ۱۶۸۲۳ ز. $(-3,2\pi)$

۱۶۸۱۸ ب. $(-3,0)$ ۱۶۸۲۰ د. $(2,\frac{7\pi}{3})$ ۱۶۸۲۲ و. $(2,\frac{\pi}{3})$ ۱۶۸۲۴ ح. $(-2,-\frac{\pi}{3})$

۱۶۸۲۵ سوال ۱۰.۲۸۸: کون سی محددی جوڑیاں ایک ہی نقطہ کو ظاہر کرتی ہیں۔

۱۶۸۲۶

۱۶۸۲۷ ا. $(-2,\frac{\pi}{3})$ ۱۶۸۲۹ ج. (r,θ) ۱۶۸۳۱ ھ. $(-r,\theta)$ ۱۶۸۳۳ ز. $(-r,\theta+\pi)$

۱۶۸۲۸ ب. $(2,-\frac{\pi}{3})$ ۱۶۸۳۰ د. $(r,\theta+\pi)$ ۱۶۸۳۲ و. $(2,-\frac{2\pi}{3})$ ۱۶۸۳۴ ح. $(-2,\frac{2\pi}{3})$

۱۶۸۳۵ سوال ۱۰.۲۸۹: درج ذیل قطبی محدد میں دیے گئے نقطے ترسیم کریں۔ان نقطوں کے تمام قطبی محدد تلاش کریں۔

۱۶۸۳۶ ا. $(2,\frac{\pi}{2})$ ۱۶۸۳۷ ب. $(2,0)$ ۱۶۸۳۸ ج. $(-2,\frac{\pi}{2})$ ۱۶۸۳۹ د. $(-2,0)$

۱۶۸۴۰ سوال ۱۰.۲۹۰: درج ذیل قطبی محدد میں دیے گئے نقطے ترسیم کریں۔ان نقطوں کے تمام قطبی محدد تلاش کریں۔

۱۶۸۴۱ ا. $(3,\frac{\pi}{4})$ ۱۶۸۴۲ ب. $(-3,\frac{\pi}{4})$ ۱۶۸۴۳ ج. $(3,-\frac{\pi}{4})$ ۱۶۸۴۴ د. $(-3,-\frac{\pi}{4})$

۱۶۸۴۵ قطبی سے کارتیسی محدد

۱۶۸۴۶ سوال ۱۰.۲۹۱: ان نقطوں کے کارتیسی محدد معلوم کریں جنہیں سوال ۱۰.۲۸۷ میں پیش کیا گیا ہے۔

۱۶۸۴۷ سوال ۱۰.۲۹۲: درج ذیل نقطے قطبی محدد میں دیے گئے ہیں۔ان کی کارتیسی محدد تلاش کریں۔

۱۶۸۴۸ ا. $(\sqrt{2},\frac{\pi}{4})$ ۱۶۸۵۰ ج. $(0,\frac{\pi}{2})$ ۱۶۸۵۲ ھ. $(-3,\frac{5\pi}{6})$ ۱۶۸۵۴ ز. $(-1,7\pi)$

۱۶۸۴۹ ب. $(1,0)$ ۱۶۸۵۱ د. $(-\sqrt{2},\frac{\pi}{4})$ ۱۶۸۵۳ و. $(5,\tan^{-1}(\frac{4}{3}))$ ۱۶۸۵۵ ح. $(2\sqrt{3},\frac{2\pi}{3})$

۱۶۸۵۶ قطبی مساوات اور عدم مساوات کی ترسیم

۱۶۸۵۷ سوال ۱۰.۲۹۳ تا سوال ۱۰.۳۰۸ میں دیے مساوات اور عدم مساوات کو مطمئن کرنے والے نقطوں کے سلسلہ کو ترسیم کریں۔

۱۶۸۵۸ سوال ۱۰.۲۹۳: $r=2$

۱۶۸۵۹ سوال ۱۰.۲۹۴: $0\leq r\leq 2$

۱۶۸۶۰ سوال ۱۰.۲۹۵: $r\geq 1$

۱۶۸۶۱ سوال ۱۰.۲۹۶: $1\leq r\leq 2$

۱۶۸۶۲ سوال ۱۰.۲۹۷: $0\leq\theta\leq\frac{\pi}{6},\quad r\geq 0$

۱۶۸۶۳ سوال ۱۰.۲۹۸: $\theta=\frac{2\pi}{3},\quad r\leq -2$

۱۲۸۶۴ سوال ۱۰.۲۹۹: $\theta = \frac{\pi}{3}, \quad -1 \leq r \leq 3$

۱۲۸۶۵ سوال ۱۰.۳۰۰: $\theta = \frac{11\pi}{4}, \quad r \geq -1$

۱۲۸۶۶ سوال ۱۰.۳۰۱: $\theta = \frac{\pi}{2}, \quad r \geq 0$

۱۲۸۶۷ سوال ۱۰.۳۰۲: $\theta = \frac{\pi}{2}, \quad r \leq 0$

۱۲۸۶۸ سوال ۱۰.۳۰۳: $0 \leq \theta \leq \pi, \quad r = 1$

۱۲۸۶۹ سوال ۱۰.۳۰۴: $0 \leq \theta \leq \pi, \quad r = -1$

۱۲۸۷۰ سوال ۱۰.۳۰۵: $\frac{\pi}{4} \leq \theta \leq \frac{3\pi}{4}, \quad 0 \leq r \leq 1$

۱۲۸۷۱ سوال ۱۰.۳۰۶: $-\frac{\pi}{4} \leq \theta \leq \frac{\pi}{4}, \quad -1 \leq r \leq 1$

۱۲۸۷۲ سوال ۱۰.۳۰۷: $-\frac{\pi}{2} \leq \theta \leq \frac{\pi}{2}, \quad 1 \leq r \leq 2$

۱۲۸۷۳ سوال ۱۰.۳۰۸: $0 \leq \theta \leq \frac{\pi}{2}, \quad 1 \leq |r| \leq 2$

۱۲۸۷۴

۱۲۸۷۵ قطبی سے کارتیسی مساوات

۱۲۸۷۶ سوال ۱۰.۳۰۹ تا سوال ۱۰.۳۳۴ میں مطابقتی کارتیسی مساوات دریافت کریں۔ اس کے بعد ترسیم کو پہچانئے۔

۱۲۸۷۷ سوال ۱۰.۳۰۹: $r\cos\theta = 2$

۱۲۸۷۸ سوال ۱۰.۳۱۰: $r\sin\theta = -1$

۱۲۸۷۹ سوال ۱۰.۳۱۱: $r\sin\theta = 0$

۱۲۸۸۰ سوال ۱۰.۳۱۲: $r\cos\theta = 0$

۱۲۸۸۱ سوال ۱۰.۳۱۳: $r = 4\csc\theta$

۱۲۸۸۲ سوال ۱۰.۳۱۴: $r = -3\sec\theta$

۱۲۸۸۳ سوال ۱۰.۳۱۵: $r\cos\theta + r\sin\theta = 1$

۱۲۸۸۴ سوال ۱۰.۳۱۶: $r\sin\theta = r\cos\theta$

۱۲۸۸۵ سوال ۱۰.۳۱۷: $r^2 = 1$

۱۲۸۸۶ سوال ۱۰.۳۱۸: $r^2 = 4r\sin\theta$

۱۲۸۸۷ سوال ۱۰.۳۱۹: $r = \frac{5}{\sin\theta - 2\cos\theta}$

۱۲۸۸۸ سوال ۱۰.۳۲۰: $r^2\sin 2\theta = 2$

۱۲۸۸۹ سوال ۱۰.۳۲۱: $r = \cot\theta\csc\theta$

۱۲۸۹۰ سوال ۱۰.۳۲۲: $r = 4\tan\theta\sec\theta$

۱۶۸۹۱ سوال ۱۰.۳۲۳: $r = \csc\theta e^{r\cos\theta}$

۱۶۸۹۲ سوال ۱۰.۳۲۴: $r\sin\theta = \ln r + \ln\cos\theta$

۱۶۸۹۳ سوال ۱۰.۳۲۵: $r^2 + 2r^2\cos\theta\sin\theta = 1$

۱۶۸۹۴ سوال ۱۰.۳۲۶: $\cos^2\theta = \sin^2\theta$

۱۶۸۹۵ سوال ۱۰.۳۲۷: $r^2 = -4r\cos\theta$

۱۶۸۹۶ سوال ۱۰.۳۲۸: $r^2 = -6r\sin\theta$

۱۶۸۹۷ سوال ۱۰.۳۲۹: $r = 8\sin\theta$

۱۶۸۹۸ سوال ۱۰.۳۳۰: $r = 3\cos\theta$

۱۶۸۹۹ سوال ۱۰.۳۳۱: $r = 2\cos\theta + 2\sin\theta$

۱۶۹۰۰ سوال ۱۰.۳۳۲: $r = 2\cos\theta - \sin\theta$

۱۶۹۰۱ سوال ۱۰.۳۳۳: $r\sin(\theta + \frac{\pi}{6}) = 2$

۱۶۹۰۲ سوال ۱۰.۳۳۴: $r\sin(\frac{2\pi}{3} - \theta) = 5$

۱۶۹۰۳

۱۶۹۰۴ **کارتیسی سے قطبی مساوات**

۱۶۹۰۵ سوال ۱۰.۳۳۵ تا سوال ۱۰.۳۴۸ میں کارتیسی مساوات سے قطبی مساوات حاصل کریں۔

۱۶۹۰۶ سوال ۱۰.۳۳۵: $x = 7$

۱۶۹۰۷ سوال ۱۰.۳۳۶: $y = 1$

۱۶۹۰۸ سوال ۱۰.۳۳۷: $x = y$

۱۶۹۰۹ سوال ۱۰.۳۳۸: $x - y = 3$

۱۶۹۱۰ سوال ۱۰.۳۳۹: $x^2 + y^2 = 4$

۱۶۹۱۱ سوال ۱۰.۳۴۰: $x^2 - y^2 = 1$

۱۶۹۱۲ سوال ۱۰.۳۴۱: $\frac{x^2}{9} + \frac{y^2}{4} = 1$

۱۶۹۱۳ سوال ۱۰.۳۴۲: $xy = 2$

۱۶۹۱۴ سوال ۱۰.۳۴۳: $y^2 = 4x$

۱۶۹۱۵ سوال ۱۰.۳۴۴: $x^2 + xy + y^2 = 1$

۱۶۹۱۶ سوال ۱۰.۳۴۵: $x^2 + (y-2)^2 = 4$

۱۶۹۱۷ سوال ۱۰.۳۴۶: $(x-5)^2 + y^2 = 25$

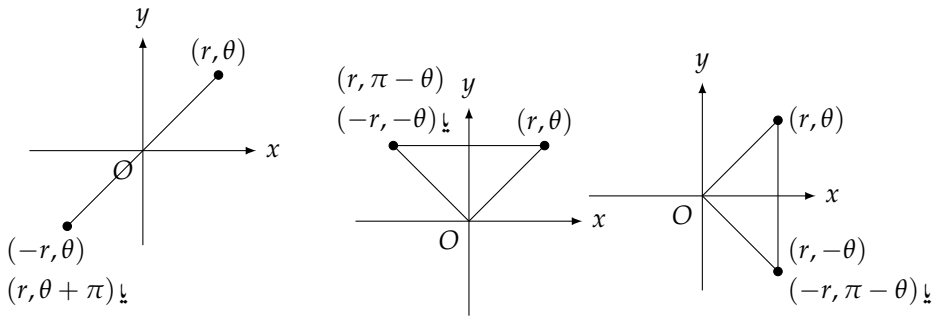

(ا) محور x کے لحاظ سے۔ (ب) محور y کے لحاظ سے۔ (ج) مبدا کے لحاظ سے۔

شکل ۱۰.۶۳: تشاکلی کے تین پرکھ۔

سوال ۱۰.۳۴۷: $(x-3)^2+(y+1)^2=4$

سوال ۱۰.۳۴۸: $(x+2)^2+(y-5)^2=16$

نظریہ اور مثالیں

سوال ۱۰.۳۴۹: مبدا کے تمام قطبی محدد تلاش کریں۔

سوال ۱۰.۳۵۰: افقی اور انتصابی خط

ا. دکھائیں کہ xy مستوی میں ہر انتصابی خط کی قطبی مساوات کو $r=a\sec\theta$ لکھا جا سکتا ہے۔

ب. xy مستوی میں ہر افقی خط کی قطبی مساوات کس صورت کی ہو گی؟

۱۰.۷ قطبی محدد میں ترسیم

اس حصہ میں مساوات کو قطبی محدد میں ترسیم کرنے کے تراکیب پر غور کیا جائے گا۔

تشاکلی

قطبی محدد میں تشاکلی کا معیاری پرکھ شکل ۱۰.۶۳ میں دکھایا گیا ہے۔

قطبی ترسیمات کے پرکھ تشاکل

۱. محور x کے لحاظ سے تشاکلی: اگر نقطہ (r,θ) ترسیم پر پایا جاتا ہو تب نقطہ $(r,-\theta)$ یا $(-r,\pi-\theta)$ بھی ترسیم پر پایا جائے گا (شکل ۱۰.۶۳-ا)۔

ب. محور y کے لحاظ سے تشاکلی: اگر نقطہ (r,θ) ترسیم پر پایا جاتا ہو تب نقطہ $(r,\pi-\theta)$ یا $(-r,-\theta)$ بھی ترسیم پر پایا جائے گا (شکل ۱۰.۶۳-ب)۔

ج. مبدا کے لحاظ سے تشاکلی: اگر نقطہ (r,θ) ترسیم پر پایا جاتا ہو تب نقطہ $(-r,\theta)$ یا $(r,\theta+\pi)$ بھی ترسیم پر پایا جائے گا (شکل ۱۰.۶۳-ج)۔

ڈھلوان

قطبی منحنی $r=f(\theta)$ کی ڈھلوان $\frac{\mathrm{d}y}{\mathrm{d}x}$ ہے نا کہ $r'=\frac{\mathrm{d}f}{\mathrm{d}\theta}$۔ اس کی وجہ سمجھنے کی خاطر f کی ترسیم کو درج ذیل مقدار معلوم مساوات کی ترسیم فرض کریں۔

$$x=r\cos\theta=f(\theta)\cos\theta,\quad y=r\sin\theta=f(\theta)\sin\theta$$

اگر f متغیر θ کا قابل تفرق تفاعل ہو تب x اور y بھی θ کے قابل تفرق تفاعل ہوں گے اور جب $\frac{\mathrm{d}x}{\mathrm{d}\theta}\neq 0$ ہو تب ہم $\frac{\mathrm{d}y}{\mathrm{d}x}$ کو درج ذیل مقدار معلوم کلیہ سے اخذ کر سکتے ہیں۔

$$\begin{aligned}\frac{\mathrm{d}y}{\mathrm{d}x}&=\frac{\mathrm{d}y/\,\mathrm{d}\theta}{\mathrm{d}x/\,\mathrm{d}\theta} && \text{مساوات ا}\\ &=\frac{\frac{\mathrm{d}}{\mathrm{d}\theta}(f(\theta)\cdot\sin\theta)}{\frac{\mathrm{d}}{\mathrm{d}\theta}(f(\theta)\cdot\cos\theta)}\\ &=\frac{\frac{\mathrm{d}f}{\mathrm{d}\theta}\sin\theta+f(\theta)\cos\theta}{\frac{\mathrm{d}f}{\mathrm{d}\theta}\cos\theta-f(\theta)\sin\theta} && \text{تفرق کا کلیہ ضرب}\end{aligned}$$

منحنی $r=f(\theta)$ کی ڈھلوان جہاں (r,θ) پر $\frac{\mathrm{d}x}{\mathrm{d}\theta}\neq 0$ ہونا ضروری ہے۔

$$\left.\frac{\mathrm{d}y}{\mathrm{d}x}\right|_{(r,\theta)}=\frac{f'(\theta)\sin\theta+f(\theta)\cos\theta}{f'(\theta)\cos\theta-f(\theta)\sin\theta} \tag{ا}$$

اگر مبدا پر منحنی $r=f(\theta)$ کا زاویہ $\theta=\theta_0$ ہو تب $f(\theta_0)=0$ ہو گا اور مساوات اسے درج ذیل حاصل ہو گا۔

$$\left.\frac{\mathrm{d}y}{\mathrm{d}x}\right|_{(r,\theta)}=\frac{f'(\theta_0)\sin\theta_0}{f'(\theta_0)\cos\theta_0}=\tan\theta_0$$

اگر مبدا پر $r=f(\theta)$ کا زاویہ θ_0 ہو تب مبدا پر منحنی کی ڈھلوان $\tan\theta_0$ ہو گی۔ مبدا پر ڈھلوان کی بات کرتے ہوئے ہم کہتے ہیں "$(0,\theta)$ پر ڈھلوان"، نا کہ "مبدا پر ڈھلوان"، کیونکہ قطبی منحنی مبدا سے کئی بار گزر سکتی ہے اور θ کی مختلف قیمتوں کے لئے یہاں ڈھلوان مختلف ہو گی۔

۱۲۹۴۹ مثال ۱۰.۳۲: قلب نما[۳۸]

۱۲۹۵۰ منحنی $r = 1 - \cos\theta$ ترسیم کریں۔

۱۲۹۵۱ حل: درج ذیل کی وجہ سے یہ منحنی محور x کے لحاظ سے تشاکلی ہے۔

$$\begin{aligned} (r,\theta) \text{ منحنی پر ہے} &\implies r = 1 - \cos\theta \\ &\implies r = 1 - \cos(-\theta) \qquad \cos\theta = \cos(-\theta) \\ &\implies (r,\theta) \text{ بھی ترسیم پر ہے} \end{aligned}$$

۱۲۹۵۲ جیسے جیسے θ کی قیمت 0 سے π تک بڑھتی ہے، $\cos\theta$ کی قیمت 1 سے -1 تک گھٹتی ہے اور $r = 1 - \cos\theta$ کی قیمت کم سے کم قیمت
۱۲۹۵۳ 0 سے بڑھ کر زیادہ سے زیادہ قیمت 2 تک پہنچتی ہے۔ θ کی قیمت π سے 2π تک بڑھانے سے $\cos\theta$ کی قیمت -1 سے واپس 1 تک پہنچتی
۱۲۹۵۴ ہے اور r کی قیمت 2 سے واپس 0 ہوتی ہے۔ چونکہ $\cos\theta$ کا دوری عرصہ 2π ہے لہٰذا $\theta = 2\pi$ کے بعد یہی منحنی دوبارہ حاصل ہو گی۔

۱۲۹۵۵ یہ منحنی مبدا سے $\tan(0) = 0$ ڈھلوان پر نکلتی ہے اور مبدا پر $\tan(2\pi) = 0$ ڈھلوان پر پہنچتی ہے۔

۱۲۹۵۶ ہم $\theta = 0$ تا $\theta = \pi$ کی مختلف قیمتوں کے لئے r کی قیمتیں

θ	0	$\frac{\pi}{3}$	$\frac{\pi}{2}$	$\frac{2\pi}{3}$	π
r	0	$\frac{1}{2}$	1	$\frac{3}{2}$	2

۱۲۹۵۷ معلوم کر کے ان نقطوں کو ترسیم کرتے ہیں جس کا مماس مبدا پر افقی ہو گا۔ محور x میں اس کا عکس لیتے ہوئے ہم ترسیم مکمل کرتے ہیں (شکل ۱۰.۶۴)۔ شکل
۱۲۹۵۸ ۱۰.۶۴ میں تیر کا نشان بڑھتی θ کے رخ کو ظاہر کرتا ہے۔ چونکہ اس منحنی کی شکل قلب کی مانند ہے لہٰذا اس منحنی کو **قلب نما** کہتے ہیں۔ پھر کی اور چرخی پر تہہ
۱۲۹۵۹ در تہہ ہموار دھاگہ لپیٹنے کے لئے قلب نما اشکال کے **کیم**[۳۹] استعمال کئے جاتے ہیں۔ اس کے علاوہ کئی ریڈیو اینٹینا کی شعاع بھی قلب نما ہوتی ہے۔ □

۱۲۹۶۰ مثال ۱۰.۳۳: منحنی $r^2 = 4\cos\theta$ ترسیم کریں۔

۱۲۹۶۱ حل: مساوات $r^2 = \cos\theta$ کے لئے ضروری ہے کہ $\cos\theta \geq 0$ ہو لہٰذا پورا ترسیم حاصل کرنے کی خاطر ہم θ کو وقفہ $-\frac{\pi}{2}$ تا $\frac{\pi}{2}$
۱۲۹۶۲ میں رکھتے ہیں۔ درج ذیل کی وجہ سے یہ منحنی محور x کے لحاظ سے تشاکلی ہے۔

$$\begin{aligned} (r,\theta) \text{ ترسیم پر ہے} &\implies r^2 = 4\cos\theta \\ &\implies r^2 = 4\cos(-\theta) \qquad \cos\theta = \cos(-\theta) \\ &\implies (r,-\theta) \text{ نقطہ بھی ترسیم پر ہے} \end{aligned}$$

---

[۳۸] cardioid
[۳۹] cam

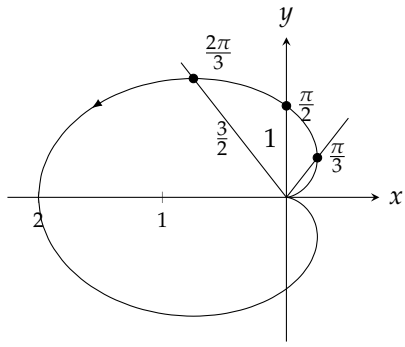

شکل ۱۰.۶۴: قلب نما (مثال ۱۰.۳۲)

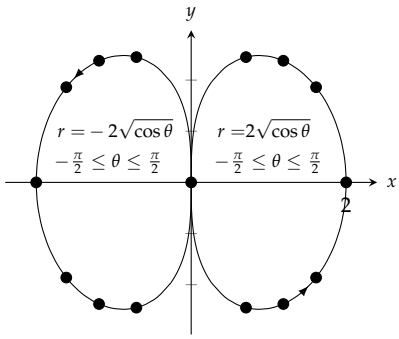

شکل ۱۰.۶۵: ترسیم برائے (مثال ۱۰.۳۳)

۱۶۹۶۳ یہ ترسیم مبدا کے لحاظ سے بھی تشاکلی ہے۔

$$\begin{aligned} \text{ترسیم پر ہے } (r,\theta) &\implies r^2 = 4\cos\theta \\ &\implies (-r)^2 = 4\cos\theta \\ &\implies \text{نقطہ } (-r,\theta) \text{ بھی ترسیم پر ہے} \end{aligned}$$

۱۶۹۶۴ مذکورہ بالا دو تشاکلی کو ملا کر ہم دیکھتے ہیں کہ یہ ترسیم محور y کے لحاظ سے بھی تشاکلی ہو گا۔

۱۶۹۶۵ یہ ترسیم $\theta = -\frac{\pi}{2}$ اور $\theta = \frac{\pi}{2}$ کے لئے مبدا سے گزرتی ہے۔ چونکہ ان زاویوں پر $\tan\theta$ کی قیمت لامتناہی ہے لہٰذا مبدا پر ترسیم کا مماس انتصابی
۱۶۹۶۶ ہو گا۔ وقفہ $-\frac{\pi}{2}$ تا $\frac{\pi}{2}$ میں ہر θ کے لئے کلیہ $r^2 = 4\cos\theta$ متغیر r کی درج ذیل دو قیمتیں دیتا ہے۔

$$r = \pm 2\sqrt{\cos\theta}$$

۱۶۹۶۷ ہم اس وقفہ میں مختلف نقطے

θ	0	$\pm\frac{\pi}{6}$	$\pm\frac{\pi}{4}$	$\pm\frac{\pi}{3}$	$\pm\frac{\pi}{2}$
$\cos\theta$	1	$\frac{\sqrt{3}}{2}$	$\frac{1}{\sqrt{2}}$	$\frac{1}{2}$	0
r	± 2	± 1.9	± 1.7	± 1.4	0

۱۶۹۶۸ معلوم کر کر انہیں ترسیم کر کے ہموار منحنی سے آپس میں جوڑتے ہیں۔ مماس اور تشاکلی کی معلومات استعمال کرتے ہوئے مکمل منحنی حاصل کی جاتی ہے (شکل
۱۶۹۶۹ ۱۰.۶۵)۔ □

۱۶۹۷۰ تیزی سے ترسیم کا حصول

۱۶۹۷۱ قطبی مساوات $r = f(\theta)$ کو ترسیم کرنے کے لئے کہ ہم (r,θ) کی قیمتوں کا جدول بنا کر ان نقطوں کو ترسیم کر کے بڑھتے θ رخ انہیں ہموار لکیر
۱۶۹۷۲ سے ملاتے ہیں۔ اگر ہمارے پاس اتنے زیادہ نقطے ہوں کہ قطبی ترسیم کا ہر گھیرا اور جھکاو صاف نظر آتا ہو تب یوں ترسیم کرنا ٹھیک ہے۔ درج ذیل اقدام ترسیم کی

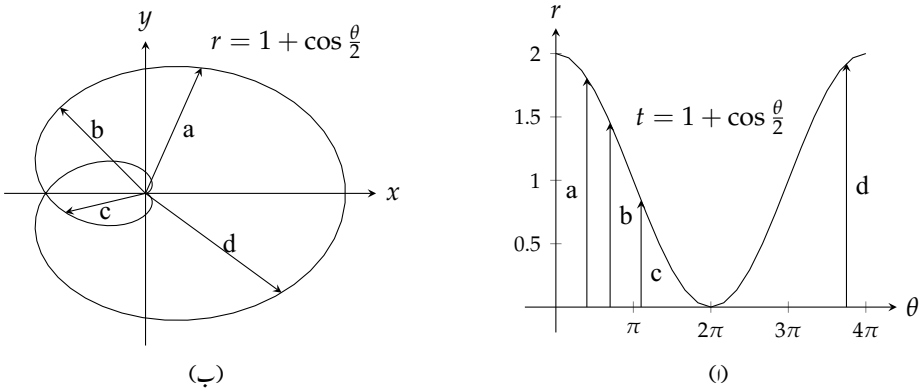

شکل ۱۰.۶۶: ترسیمات برائے مثال ۱۰.۳۴

ایک دوسری ترکیب بیان کرتے ہیں جو نسبتاً آسان اور تیز ثابت ہوتا ہے۔

ا. پہلے کارتیسی $r\theta$ مستوی میں $r = f(\theta)$ ترسیم کریں (یعنی θ کی قیمتوں کو افقی اور مطابقتی r کی قیمتوں کو انتصابی محور پر رکھیں۔)

ب. اب کارتیسی ترسیم کو بطور جدول اور رہبر لیتے ہوئے قطبی ترسیم حاصل کریں۔

صرف نقطے ترسیم کرنے سے کارتیسی ترسیم اس لئے بہتر ہے کہ کارتیسی ترسیم سے جلد دیکھا جا سکتا ہے کہاں قیمتیں مثبت، منفی یا غیر موجود ہوتی ہیں۔ اس کے علاوہ r کا بڑھنا اور گھٹنا بھی واضح ہوتا ہے۔ ہم $r = 1 + \cos(\frac{\theta}{2})$ اور $r^2 = \sin 2\theta$ کو مثال بنا کر اس ترکیب کو دیکھتے ہیں۔

مثال ۱۰.۳۴: درج ذیل منحنی ترسیم کریں۔

$$r = 1 + \cos\frac{\theta}{2}$$

حل: ہم پہلے r بالمقابل θ کو کارتیسی $r\theta$ مستوی میں ترسیم کرتے ہیں۔ چونکہ کوسائن کا دوری عرصہ 2π ہے لہٰذا مکمل ترسیم حاصل کرنے کی خاطر ہم θ کا وقفہ 0 تا 2π لیں گے۔ کارتیسی مستوی پر محور θ سے ترسیم تک لکیروں کی لمبائی (شکل ۱۰.۶۶-ا) قطبی ترسیم کا رداس r دیتی ہیں (شکل ۱۰.۶۶-ب)۔ □

مثال ۱۰.۳۵: دوچشمہ[۴۰]
منحنی $r^2 = \sin 2\theta$ ترسیم کریں۔

حل: ہم r کے بجائے r^2 بالمقابل θ کو کارتیسی $r^2\theta$ مستوی پر ترسیم کرتے ہیں (شکل ۱۰.۶۷-ا) جہاں r^2 کو متغیر تصور کیا گیا ہے جس کی قیمت مثبت کے ساتھ ساتھ منفی بھی ہو سکتی ہے۔ اس کے بعد ہم $r = \pm\sqrt{\sin 2\theta}$ کو کارتیسی $r\theta$ مستوی پر ترسیم کرتے ہیں۔ آپ دیکھ سکتے ہیں کہ شکل ۱۰.۶۷-ا کے نقطہ دار حصے کا جذر نہیں لیا جا سکتا ہے لہٰذا شکل ۱۰.۶۷-ب میں یہ حصے خالی رہتے ہیں جبکہ جذر کی وجہ سے باقی حصے کے مثبت اور منفی حصے پائے جاتے ہیں۔ آخر میں ہم قطبی ترسیم حاصل کرتے ہیں۔ کارتیسی ترسیم (شکل ۱۰.۶۷-ب) دو بار قطبی ترسیم (شکل ۱۰.۶۷-ج) کو ڈھانپ دیتا ہے۔ ہم کسی

[۴۰] lemniscate

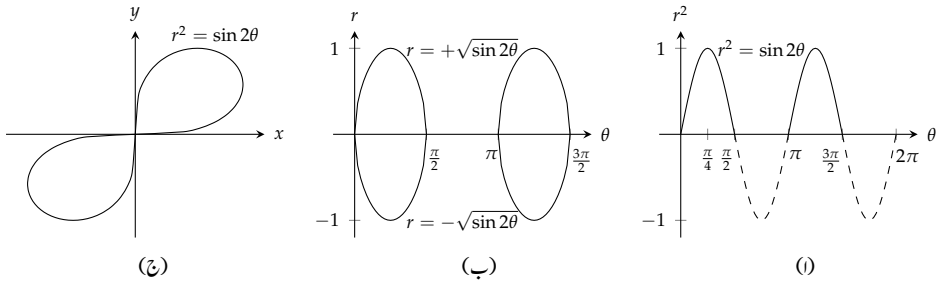

شکل ۱۰.۶۷: ترسیم برائے مثال ۱۰.۳۵

ایک گھیرا کو، یا دونوں گھیروں کے بالائی نصف یا دونوں کے گھیروں کے نچلے نصف استعمال کر سکتے تھے۔ البتہ دو بار ڈھانپنے سے کوئی نقصان نہیں ہوتا ہے اور ہم تفاعل کے رویہ کو بہتر سمجھ پاتے ہیں۔ □

قطبی قطب کے نقاط تقاطع کی تلاش

قطبی ترسیم میں ایک نقطہ کو مختلف طریقوں سے ظاہر کیا جا سکتا ہے لہٰذا یہ فیصلہ کرنے کے لئے خصوصی دھیان کرنا ہوگا کہ آیا کسی قطبی مساوات کی ترسیم پر ایک نقطہ پایا جاتا ہے۔ اسی طرح قطبی ترسیمات کے نقاط تقاطع معلوم کرتے ہوئے بھی دھیان رکھنا ضروری ہے۔ عین ممکن ہے کہ نقطہ تقاطع ایک ترسیم کو جن قطبی محدد پر مطمئن کرتا ہو، وہ ان قطبی محدد سے مختلف ہوں جن پر یہی نقطہ تقاطع دوسری قطبی مساوات کو مطمئن کرتا ہو۔ یوں ضروری نہیں ہے کہ دونوں مساوات کو ایک ساتھ حل کرتے ہوئے تمام نقاط تقاطع دریافت ہوں۔ تمام نقاط تقاطع صرف مساوات ترسیم کر کے معلوم کیے جا سکتے ہیں۔

مثال ۱۰.۳۶: فریبی محدد

دکھائیں کہ نقطہ $\left(2, \frac{\pi}{2}\right)$ منحنی $r = 2\cos 2\theta$ پر پایا جاتا ہے۔

حل: اس نقطہ کو دی گئی مساوات میں پر کرنے سے درج ذیل عدم مساوات

$$2 = 2\cos 2\left(\frac{\pi}{2}\right) = 2\cos \pi = -2$$

حاصل ہوتی ہے جس سے یوں معلوم ہوتا ہے کہ یہ نقطہ اس منحنی پر نہیں پایا جاتا ہے۔ یہاں مقدار درست ہے لیکن علامت غلط ہے جس سے ہمیں خیال آتا ہے کہ اس نقطے کی ایسی محدد دی جوڑی، مثلاً $\left(-2, -\frac{\pi}{2}\right)$، تلاش کی جائے جو منفی رداس دیتا ہے۔ اس جوڑی کو $r = 2\cos 2\theta$ میں پر کر کے

$$-2 = 2\cos 2\left(-\frac{\pi}{2}\right) = 2(-1) = -2$$

ملتا ہے لہٰذا مساوات مطمئن ہوتی ہے۔ اس طرح نقطہ $\left(2, \frac{\pi}{2}\right)$ دی گئی منحنی پر پایا جاتا ہے۔ □

مثال ۱۰.۳۷: مبہم نقطہ تقاطع

درج ذیل منحنیات کے نقاط تقاطع تلاش کریں۔

$$r^2 = 4\cos\theta, \quad r = 1 - \cos\theta$$

حل: کارتیسی محدد میں دو مساوات کو ایک ساتھ حل کر کے ان کے نقاط تقاطع حاصل کیے جا سکتے ہیں۔ قطبی محدد میں قصہ کچھ مختلف ہے۔ قطبی محدد میں دو منحنیات کی مساوات ایک ساتھ حل کرنے سے عین ممکن ہے کہ بعض نقاط تقاطع حاصل ہوں اور بعض حاصل نہ ہوں۔ اس مثال میں مساوات ایک ساتھ حل کر کے چار میں سے صرف دو نقاط تقاطع حاصل ہوتے ہیں۔ باقی دو ترسیم سے حاصل ہوں گے (سوال ۱۰.۳۹۹ بھی دیکھیں)۔

اگر ہم $\cos\theta = \frac{r^2}{4}$ کو $r = 1 - \cos\theta$ میں پر کریں تب درج ذیل ملتا ہے۔

$$\begin{aligned} r = 1 - \cos\theta &= 1 - \frac{r^2}{4} \\ 4r &= 4 - r^2 \\ r^2 + 4r - 4 &= 0 \\ r &= -2 \pm 2\sqrt{2} \end{aligned}$$

ان میں $r = -2 - 2\sqrt{2}$ کی مطلق قیمت اتنی زیادہ ہے کہ یہ دونوں کو مطمئن نہیں کرتا ہے۔ دوسرے جواب $r = -2 + 2\sqrt{2}$ سے θ کی درج ذیل قیمت حاصل ہوتی ہے۔

$$\begin{aligned} \theta &= \cos^{-1}(1 - r) && (r = 1 - \cos\theta) \\ &= \cos^{-1}(1 - (2\sqrt{2} - 2)) && (r = 2\sqrt{2} - 2) \\ &= \cos^{-1}(3 - 2\sqrt{2}) \\ &= \pm 80^\circ && \text{قریبی درجہ تک پورم پور} \end{aligned}$$

اس طرح ہم دو نقاط تقاطع $(r, \theta) = (2\sqrt{2} - 2, \pm 80^\circ)$ تلاش کرنے میں کامیاب ہوتے ہیں۔

ہم شکل ۱۰.۶۴ اور شکل ۱۰.۶۵ کی مدد سے مساوات $r^2 = 4\cos\theta$ اور $r = 1 - \cos\theta$ کو ایک ساتھ ترسیم (شکل ۱۰.۶۸) کر کے دیکھتے ہیں کہ یہ نقطہ $(2, \pi)$ اور مبدا پر بھی ایک دوسرے کو قطع کرتے ہیں۔ ان نقاط کے رداس r کی قیمتیں کیوں مساوات ایک ساتھ حل کرنے سے حاصل نہیں ہوں پائی؟ اس کا جواب ہے کہ نقاط $(2, \pi)$ اور $(0, 0)$ دونوں منحنیات پر بیک وقت نہیں پائے جاتے ہیں۔ ان نقطوں تک پہنچنے کے لئے دنوں منحنیات پر θ کی مختلف قیمتیں درکار ہوتی ہیں۔ منحنی $r = 1 - \cos\theta$ پر نقطہ $(2, \pi)$ تک $\theta = \pi$ پر پہنچا جاتا ہے جبکہ منحنی $r^2 = 4\cos\theta$ پر اسی نقطہ تک $\theta = 0$ پر پہنچا جاتا ہے جہاں اس نقطہ کو محدد $(2, \pi)$ سے نہیں پہچانا جاتا جو اس مساوات کو مطمئن نہیں کرتے ہیں، بلکہ اس نقطہ کو محدد $(-2, 0)$ سے پہچانا جاتا ہے جو اس مساوات کو مطمئن کرتے ہیں۔ اسی طرح قلب نما منحنی مبدا تک $\theta = 0$ پر پہنچتی ہے جبکہ منحنی $r^2 = 4\cos\theta$ مبدا تک $\theta = \frac{\pi}{2}$ پر پہنچتی ہے۔ □

سوالات

تشاکلی اور قطبی ترسیمات

سوال ۱۰.۳۵۱ تا سوال ۱۰.۳۶۲ میں منحنی کی تشاکلی پہچانئے۔ اس کے بعد منحنی ترسیم کریں۔

سوال ۱۰.۳۵۱: $r = 1 + \cos\theta$

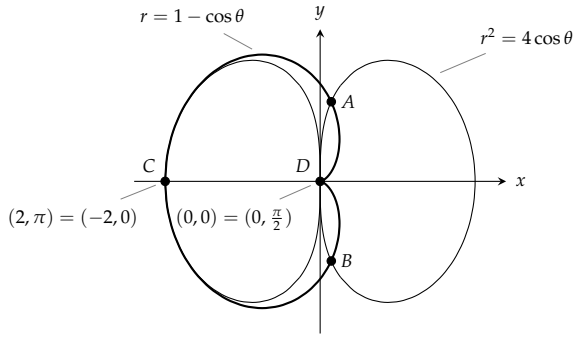

شکل ۱۰.۶۸: نقطہ تقاطع (مثال ۱۰.۳۷)

۱۷۰۲۱ سوال ۱۰.۳۵۲: $r = 2 - 2\cos\theta$

۱۷۰۲۲ سوال ۱۰.۳۵۳: $r = 1 - \sin\theta$

۱۷۰۲۳ سوال ۱۰.۳۵۴: $r = 1 + \sin\theta$

۱۷۰۲۴ سوال ۱۰.۳۵۵: $r = 2 + \sin\theta$

۱۷۰۲۵ سوال ۱۰.۳۵۶: $r = 1 + 2\sin\theta$

۱۷۰۲۶ سوال ۱۰.۳۵۷: $r = \sin\frac{\theta}{2}$

۱۷۰۲۷ سوال ۱۰.۳۵۸: $r = \cos\frac{\theta}{2}$

۱۷۰۲۸ سوال ۱۰.۳۵۹: $r^2 = \cos\theta$

۱۷۰۲۹ سوال ۱۰.۳۶۰: $r^2 = \sin\theta$

۱۷۰۳۰ سوال ۱۰.۳۶۱: $r^2 = -\sin\theta$

۱۷۰۳۱ سوال ۱۰.۳۶۲: $r^2 = -\cos\theta$

۱۷۰۳۲

۱۷۰۳۳ سوال ۱۰.۳۶۳ تا سوال ۱۰.۳۶۶ میں دی گئی دو چشمہ ترسیم کریں۔ ان منحنیات کی تشاکلی پہچانئے۔ سوال ۱۰.۳۶۳: $r^2 = 4\cos 2\theta$

۱۷۰۳۴ سوال ۱۰.۳۶۴: $r^2 = 4\sin 2\theta$

۱۷۰۳۵ سوال ۱۰.۳۶۵: $r^2 = -\sin 2\theta$

۱۷۰۳۶ سوال ۱۰.۳۶۶: $r^2 = -\cos 2\theta$

۱۷۰۳۷

قطبی منحنیات کی ڈھلوانیں

سوال ۱۰.۳۶۷ تا سوال ۱۰.۳۷۰ میں دیے گئے نقطوں پر منحنی کی ڈھلوان مساوات ۱ کی مدد سے دریافت کریں۔ منحنی کو ترسیم کر کے ان نقطوں پر مماس بھی کھینچیں۔

سوال ۱۰.۳۶۷: قلب نما: $r = -1 + \cos\theta$ ؛ $\theta = \pm\frac{\pi}{2}$

سوال ۱۰.۳۶۸: قلب نما: $r = -1 + \sin\theta$ ؛ $\theta = 0,\ \pi$

سوال ۱۰.۳۶۹: چار گل: $r = \sin 2\theta$ ؛ $\theta = \pm\frac{\pi}{4},\ \pm\frac{3\pi}{4}$

سوال ۱۰.۳۷۰: چار گل: $r = \cos 2\theta$ ؛ $\theta = 0,\ \pm\frac{\pi}{2},\ \pi$

گھونگے

سوال ۱۰.۳۷۱ تا سوال ۱۰.۳۷۴ میں دیے گھونگے ترسیم کریں۔ آپ کو اس نام کی سمجھ سوال ۱۰.۳۷۱ ترسیم کر کے آئے گی۔ گھونگوں کی مساوات کی عمومی صورت $r = a \pm b\cos\theta$ یا $r = a \pm b\sin\theta$ ہوتی ہے۔ ان کی چار بنیادی اشکال ہیں۔

سوال ۱۰.۳۷۱: اندرونی گھیرے والے گھونگے: (ا) $r = \frac{1}{2} + \cos\theta$، (ب) $r = \frac{1}{2} + \sin\theta$

سوال ۱۰.۳۷۲: قلب نما: (ا) $r = 1 - \cos\theta$، (ب) $r = -1 + \sin\theta$

سوال ۱۰.۳۷۳: ٹوئے والے گھونگے: (ا) $r = \frac{3}{2} + \cos\theta$، (ب) $r = \frac{3}{2} - \sin\theta$

سوال ۱۰.۳۷۴: چپٹے گھونگے: (ا) $r = 2 + \cos\theta$، (ب) $r = -2 + \sin\theta$

قطبی عدم مساوات کی ترسیم

سوال ۱۰.۳۷۵: ایک خطہ جس کو عدم مساوات $-1 \le r \le 2$ اور $-\frac{\pi}{2} \le \theta \le \frac{\pi}{2}$ بیان کرتی ہیں کا خاکہ بنائیں۔

سوال ۱۰.۳۷۶: ایک خطہ جس کو عدم مساوات $0 \le r \le 2\sec\theta$ اور $-\frac{\pi}{4} \le \theta \le \frac{\pi}{4}$ بیان کرتی ہیں کا خاکہ بنائیں۔

سوال ۱۰.۳۷۷: ایک خطہ جس کو عدم مساوات $0 \le r \le 2 - 2 - \cos\theta$ بیان کرتی ہے کا خاکہ بنائیں۔

سوال ۱۰.۳۷۸: ایک خطہ جس کو عدم مساوات $0 \le r^2 \le \cos\theta$ بیان کرتی ہے کا خاکہ بنائیں۔

تقاطع

سوال ۱۰.۳۷۹: دکھائیں کہ نقطہ $\left(2, \frac{3\pi}{4}\right)$ منحنی $r = 2\sin 2\theta$ پر پایا جاتا ہے۔

سوال ۱۰.۳۸۰: دکھائیں کہ نقطہ $\left(\frac{1}{2}, \frac{3\pi}{2}\right)$ منحنی $r = -\sin\left(\frac{\theta}{3}\right)$ پر پایا جاتا ہے۔

سوال ۱۰.۳۸۱ تا سوال ۱۰.۳۸۸ میں نقاط تقاطع تلاش کریں۔

۱۷۰۶۵ سوال ۱۰.۳۸۱: $r = 1 + \cos\theta, \quad r = 1 - \cos\theta$

۱۷۰۶۶ سوال ۱۰.۳۸۲: $r = 1 + \sin\theta, \quad r = 1 - \sin\theta$

۱۷۰۶۷ سوال ۱۰.۳۸۳: $r = 2\sin\theta, \quad r = 2\sin 2\theta$

۱۷۰۶۸ سوال ۱۰.۳۸۴: $r = \cos\theta, \quad r = 1 - \cos\theta$

۱۷۰۶۹ سوال ۱۰.۳۸۵: $r = \sqrt{2}, \quad r^2 = 4\sin\theta$

۱۷۰۷۰ سوال ۱۰.۳۸۶: $r^2 = \sqrt{2}\sin\theta, \quad r^2 = \sqrt{2}\cos\theta$

۱۷۰۷۱ سوال ۱۰.۳۸۷: $r = 1, \quad r^2 = 2\sin 2\theta$

۱۷۰۷۲ سوال ۱۰.۳۸۸: $r^2 = \sqrt{2}\cos 2\theta, \quad r^2 = \sqrt{2}\sin 2\theta$

۱۷۰۷۳

۱۷۰۷۴ سوال ۱۰.۳۸۹ تا سوال ۱۰.۳۹۲ میں کمپیوٹر کی مدد سے منحنیات ترسیم کریں۔

۱۷۰۷۵ سوال ۱۰.۳۸۹: $r^2 = \sin 2\theta, \quad r^2 = \cos 2\theta$

۱۷۰۷۶ سوال ۱۰.۳۹۰: $r = 1 + \cos\frac{\theta}{2}, \quad r = 1 - \sin\frac{\theta}{2}$

۱۷۰۷۷ سوال ۱۰.۳۹۱: $r = 1, \quad r = 2\sin 2\theta$

۱۷۰۷۸ سوال ۱۰.۳۹۲: $r = 1, \quad r^2 = 2\sin 2\theta$

۱۷۰۷۹

۱۷۰۸۰ **کمپیوٹر کا استعمال**

۱۷۰۸۱ سوال ۱۰.۳۹۳: (ا) $r = -1 - \cos\theta$ اور (ب) $r = 1 + \cos\theta$ میں کس کی ترسیم $r = 1 - \cos\theta$ کی ترسیم کی طرح
۱۷۰۸۲ ہے؟

۱۷۰۸۳ سوال ۱۰.۳۹۴: (ا) $r = -\sin(2\theta + \frac{\pi}{2})$ اور (ب) $r = -\cos\frac{\theta}{2}$ میں کس کی ترسیم $r = \cos 2\theta$ کی ترسیم کی طرح
۱۷۰۸۴ ہے؟

۱۷۰۸۵ سوال ۱۰.۳۹۵: پھول میں پھول
۱۷۰۸۶ منحنی $r = 1 - 2\sin 3\theta$ ترسیم کریں۔

۱۷۰۸۷ سوال ۱۰.۳۹۶: منحنی $r = 1 + 2\sin\frac{\theta}{2}$ ترسیم کریں۔

۱۷۰۸۸ سوال ۱۰.۳۹۷: گلاب
۱۷۰۸۹ گلاب $r = \cos m\theta$ جہاں $m = \frac{1}{3}, 2, 3, 7$ ہے ترسیم کریں۔

۱۷۰۹۰ سوال ۱۰.۳۹۸: پیچ دار
۱۷۰۹۱ قطبی محدد پیچ دار منحنیات کے لئے خصوصی طور پر بہتر ہے۔ درج ذیل پیچ دار منحنیات ترسیم کریں۔

ا. $r = \theta$ ج. $r = e^{\theta/10}$ ھ. $r = \pm\frac{10}{\sqrt{\theta}}$

ب. $r = -\theta$ د. $r = \frac{8}{\theta}$

نظریہ اور مثالیں

سوال ۱۰.۳۹۹: (مثال ۱۰.۳۷ جاری) ہم مثال ۱۰.۳۷ میں درج ذیل مساوات

$$r^2 = 4\cos\theta \tag{۲}$$

$$r = 1 - \cos\theta \tag{۳}$$

اکٹھے حل کر کے نقاط $(0,0)$ اور $(2,\pi)$ کی نشاندہی نہیں کر پائے جہاں یہ منحنیات ایک دوسرے کو قطع کرتی ہیں۔

ا. ہم $r^2 = 4\cos\theta$ میں (r,θ) کی جگہ مماثل $(-r,\theta+\pi)$ پر کر کے نقطہ $(2,\pi)$ حاصل کر سکتے تھے:

$$\begin{aligned} r^2 &= 4\cos\theta \\ (-r)^2 &= 4\cos(\theta+\pi) \\ r^2 &= -4\cos\theta \end{aligned} \tag{۴}$$

مساوات ۳ اور مساوات ۴ اکٹھے حل کر کے دکھائیں کہ $(2,\pi)$ دونوں کو مطمئن کرتا ہے۔ (ہم اب بھی یہ نہیں جان سکتے ہیں کہ ترسیمات $(0,0)$ پر ایک دوسرے کو قطع کرتی ہیں۔)

ب. مبدا اب بھی خاص نقطہ ہے (جیسا یہ عموماً ہوتا ہے)۔ آئیں اس سے نپٹنے کا ایک طریقہ دیکھیں۔ مساوات ۲ اور مساوات ۳ میں $r = 0$ پر کر کے انہیں علیحدہ علیحدہ θ کے لئے حل کریں۔ چونکہ کسی بھی θ کے لئے $(0,0)$ مبدا ہے لہٰذا اس طرح ہم جان پائیں گے کہ دونوں منحنیات مبدا سے گزرتی ہیں اگرچہ یہ ایک دوسرے سے مختلف θ کے لئے مبدا سے گزرتی ہیں۔

سوال ۱۰.۴۰۰: اگر اس حصہ کے شروع میں بتلائی گئی دو تشاکلی ایک منحنی میں پائی جاتی ہو تب کیا اس کی تیسری تشاکلی بھی ہو گی؟ اپنے جواب کی وجہ پیش کریں۔

سوال ۱۰.۴۰۱: چار گل $r = \cos 2\theta$ کے اس پھول کے پتے کی زیادہ سے زیادہ چوڑائی دریافت کریں جو x محور پر پایا جاتا ہے۔

سوال ۱۰.۴۰۲: محور x سے قلب نما $r = 2(1+\cos\theta)$ کا زیادہ سے زیادہ قد دریافت کریں۔

۱۰.۸ مخروط حصوں کے قطبی مساوات

چاند، سیارے، مصنوعی سیارے اور دم دار ستارے ترخیم، قطع مکافی اور قطع زائد پر حرکت کرتے ہیں۔ ان کی حرکت کو قطبی محدد میں ایک آسان مساوات سے ظاہر کیا جا سکتا ہے لہٰذا فلکیات اور فلکیاتی انجینئری میں قطبی محدد اہمیت رکھتے ہیں۔ ہم اس مساوات کو یہاں حاصل کرتے ہیں۔

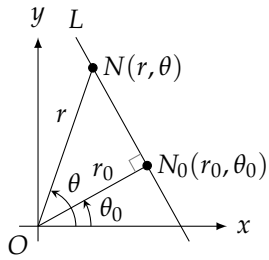

شکل ۱۰.۶۹: خط کی قطبی مساوات

۱۷۱۱۶ خطوط

۱۷۱۱۷ فرض کریں مبدا O سے خط L تک عمودی لکیر، L پر نقطہ $N_0(r_0, \theta_0)$ پہنچتی ہے جہاں $r \geq 0$ ہے (شکل ۱۰.۶۹)۔ اب اگر L پر
۱۷۱۱۸ $N(r, \theta)$ کوئی دوسرا نقطہ ہو تب نقاط O ، N_0 اور N ایک قائمہ الزاویہ مثلث کے راس ہوں گے جس سے

$$\frac{r_0}{r} = \cos(\theta - \theta_0)$$

۱۷۱۱۹ یا

$$r\cos(\theta - \theta_0) = r_0$$

۱۷۱۲۰ لکھا جا سکتا ہے۔ خط کی معیاری قطبی مساوات
۱۷۱۲۱ اگر مبدا سے خط L تک عمود نقطہ $N_0(r_0, \theta_0)$ پر بیٹھتا ہو اور $r_0 \geq 0$ ہو تب L کی مساوات درج ذیل ہو گی۔

$$r\cos(\theta - \theta_0) = r_0$$

۱۷۱۲۲ مثال ۱۰.۳۸: مماثل $\cos(A - B) = \cos A \cos B - \sin A \sin B$ استعمال کر کے شکل ۱۰.۷۰ میں دیے خط کی مساوات
۱۷۱۲۳ تلاش کریں۔

۱۷۱۲۴ حل:

$$\begin{aligned}
r\cos\left(\theta - \frac{\pi}{3}\right) &= 2 \\
r\left(\cos\theta\cos\frac{\pi}{3} - \sin\theta\sin\frac{\pi}{3}\right) &= 2 \\
\frac{1}{2}r\cos\theta + \frac{\sqrt{3}}{2}r\sin\theta &= 2 \\
\frac{1}{2}x + \frac{\sqrt{3}}{2}y &= 2 \\
x + \sqrt{3}y &= 4
\end{aligned}$$

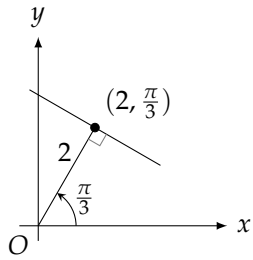

شکل ۱۰.۷۰: خط برائے مثال ۱۰.۳۸

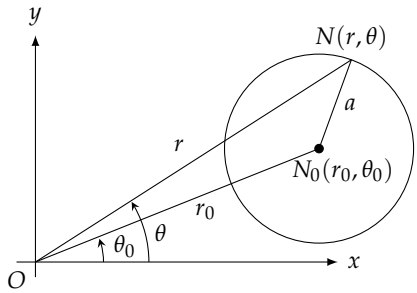

شکل ۱۰.۷۱: دائری کی قطبی مساوات۔

۱۷۲۵ □

۱۷۲۶ **دائرے**

۱۷۲۷ ایک دائرہ جس کا مرکز $N_0(r_0, \theta_0)$ اور رداس a ہو کی قطبی مساوات حاصل کرنے کی خاطر ہم مثلث ON_0N پر قاعدہ کوسائن لاگو کرتے ہیں
۱۷۲۸ (شکل ۱۰.۷۱) جس سے درج ذیل حاصل ہو گا۔

$$a^2 = r_0^2 + r^2 - 2r_0 r \cos(\theta - \theta_0) \tag{۱}$$

۱۷۲۹ اگر یہ دائرہ مبدا سے گزرتا ہو تب $r_0 = a$ ہو گا جس سے مساوات ادرج ذیل سادہ صورت اختیار کرتی ہے۔

$$\begin{aligned} a^2 &= a^2 + r^2 - 2ar\cos(\theta - \theta_0) \quad (\text{مساوات ۱ میں } r_0 = a) \\ r^2 &= 2ar\cos(\theta - \theta_0) \\ r &= 2a\cos(\theta - \theta_0) \end{aligned} \tag{۲}$$

۱۷۳۰ اگر دائرے کا مرکز مثبت x محور پر پایا جاتا ہو تب مساوات ۲ درج ذیل دے گی۔

$$r = 2a\cos\theta \tag{۳}$$

۱۷۳۱ اگر دائرے کا مرکز مثبت y محور پر پایا جاتا ہو تب $\theta_0 = \frac{\pi}{2}$ اور $\cos(\theta - \frac{\pi}{2}) = \sin\theta$ ہوں گے لہٰذا مساوات ۲ درج ذیل دے گی۔

$$r = 2a\sin\theta \tag{۴}$$

۱۷۳۲ مساوات ۳ اور مساوات ۴ میں r کی جگہ $-r$ پر کر کے ان دائروں کی مساواتیں حاصل ہوں گی جن کے مرکز منفی x محور یا منفی y محور پر ہوں (شکل
۱۷۳۳ ۱۰.۷۲)۔

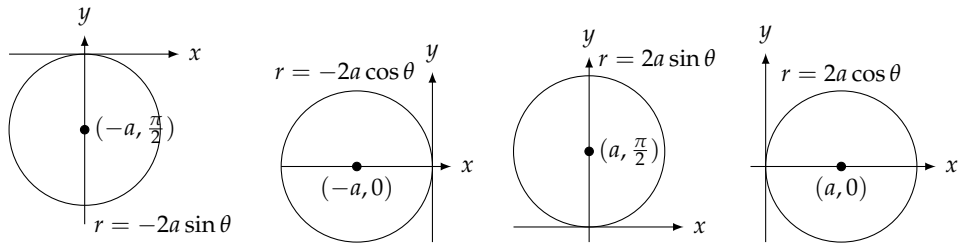

شکل ۱۰.۷۲: کارتیسی محور پر مرکز والے دائروں کے قطبی مساوات۔

۱۷۱۳۴ **مثال ۱۰.۳۹:** مبدا سے گزرتے ہوئے دائرے

۱۷۱۳۵

رداس	مرکز	مساوات
3	$(3, 0)$	$r = 6\cos\theta$
2	$(2, \frac{\pi}{2})$	$r = 4\sin\theta$
$\frac{1}{2}$	$(-\frac{1}{2}, 0)$	$r = -\cos\theta$
1	$(-1, \frac{\pi}{2})$	$r = -2\sin\theta$

۱۷۱۳۶ □

۱۷۱۳۷ **ترخیم، قطع مکافی اور قطع زائد یکجا**

۱۷۱۳۸ ترخیم، قطع مکافی اور قطع زائد کے قطبی مساوات معلوم کرنے کی خاطر ہم ایک ماسکہ کو مبدا پر رکھتے ہیں اور مطابقتی ناظمہ کو مبدا کے دائیں، انتصابی لکیر $x = k$ پر رکھتے ہیں (شکل ۱۰.۷۳)۔ یوں ۱۷۱۳۹

$$NF = r$$

۱۷۱۴۰ اور

$$ND = k - FB = k - r\cos\theta$$

۱۷۱۴۱ ہوں گے۔ یوں مخروط کی ماسکہ ناظمہ مساوات $NF = e \cdot ND$ درج ذیل صورت اختیار کرتی ہے

$$r = e(k - r\cos\theta)$$

۱۷۱۴۲ جس کو r کے لئے حل کرتے ہیں:

$$r = \frac{ke}{1 + e\cos\theta} \tag{۵}$$

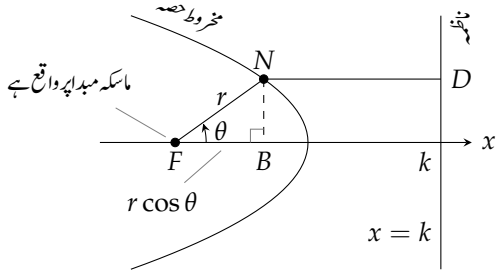

شکل ۱۰.۷۳: اس مقام پر رکھے گئے مخروط حصے کا $NF = r$ اور $ND = k - r\cos\theta$ ہو گا۔

یہ مساوات $0 < e < 1$ کے لئے ترخیم، $e = 1$ کے لئے قطع مکافی اور $e > 1$ کے لئے قطع زائد کو ظاہر کرتی ہے۔ اس طرح ترخیم، قطع مکافی اور قطع زائد کو ایک ہی مساوات ظاہر کرتی ہے۔

مثال ۱۰.۴۰: مخروط حصہ مساوات ۵

$$r = \frac{k}{2+\cos\theta} \qquad e = \frac{1}{2} \quad \text{ترخیم:}$$

$$r = \frac{k}{1+\cos\theta} \qquad e = 1 \quad \text{قطع مکافی:}$$

$$r = \frac{2k}{1+2\cos\theta} \qquad e = 2 \quad \text{قطع زائد:}$$

□

آپ مساوات ۵ کی مختلف صورتیں دیکھیں گے جن کا دار و مدار ناظمہ کے مقام پر ہو گا۔ اگر مبدا کے بائیں جانب لکیر $-k$ = ناظمہ ہو (جبکہ ماسکہ اب بھی مبدا پر ہو) تب مساوات ۵ کی جگہ درج ذیل ہو گا۔

$$r = \frac{ke}{1-e\cos\theta}$$

نسب نما میں اب $(+)$ کے بجائے $(-)$ ہو گا۔ اگر ناظمہ $y = k$ یا $y = -k$ ہو تب مساوات ۵ میں $\cos\theta$ کی جگہ $\sin\theta$ ہو گا (شکل ۱۰.۷۴)۔

مثال ۱۰.۴۱: ایک قطع زائد جس کی سنک $\frac{3}{2}$ اور ناظمہ $x = 2$ ہو کی مساوات دریافت کریں۔

حل: ہم شکل ۱۰.۷۴-الف کی مساوات میں $k = 2$ اور $e = \frac{3}{2}$ لیتے ہیں۔

$$r = \frac{2(\frac{3}{2})}{1+\frac{3}{2}\cos\theta} \implies r = \frac{6}{2+3\cos\theta}$$

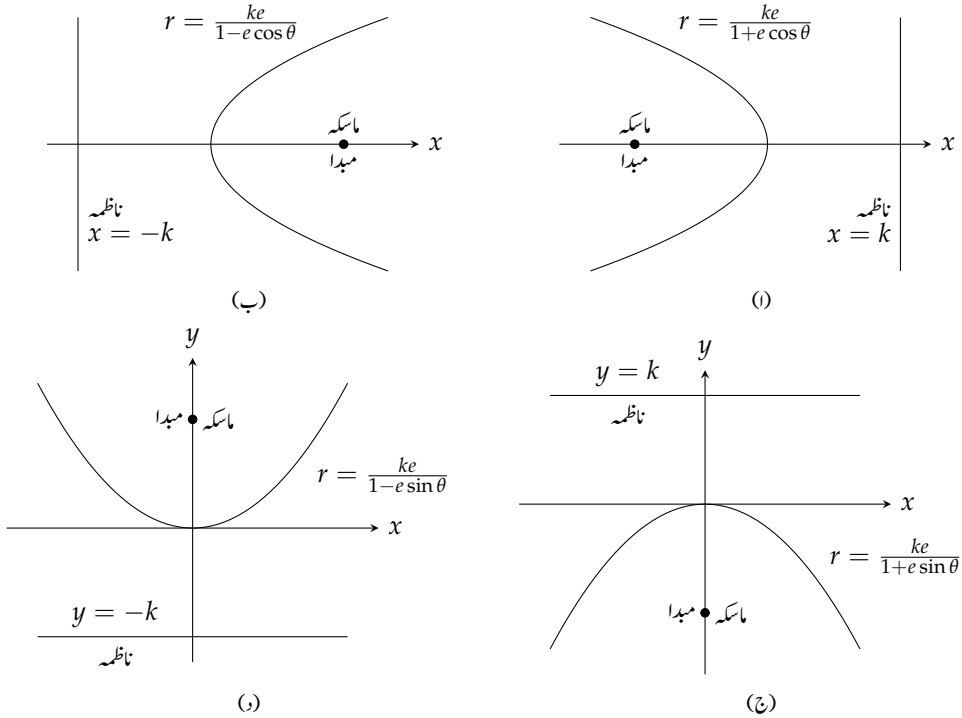

شکل ۱۰.۷۴: مخروط حصوں کی مساواتیں $(e > 0)$

۱۷۱۵۴ □

۱۷۱۵۵ مثال ۱۰.۴۲: ایک قطع مکافی جس کی مساوات درج ذیل ہے کی ناظمہ معلوم کریں۔

$$r = \frac{25}{10 + 10\cos\theta}$$

۱۷۱۵۶ حل: ہم نسب نما اور شمار کنندہ کو 10 سے تقسیم کر کے مساوات کی معیاری روپ

$$r = \frac{5/2}{1 + \cos\theta}$$

۱۷۱۵۷ حاصل کرتے ہیں۔ یہ درج ذیل مساوات ہے

$$r = \frac{ke}{1 + e\cos\theta}$$

۱۷۱۵۸ جس میں $k = 5/2$ اور $e = 1$ ہیں۔ ناظمہ کی مساوات $x = \frac{5}{2}$ ہو گی۔ □

۱۷۱۵۹ ہم شکل ۱۰.۷۵ سے دیکھتے ہیں کہ ترخیم کے لئے k، سنک e اور نصف محور اکبر a کا تعلق

$$k = \frac{a}{e} - ea \tag{۶}$$

۱۷۱۶۰ ہے جس سے $ke = a(1 - e^2)$ ملتا ہے۔ مساوات ۵ میں ke کی جگہ پر کرنے سے ترخیم کی درج ذیل معیاری مساوات حاصل ہوتی ہے۔

$$r = \frac{a(1 - e^2)}{1 + e\cos\theta} \tag{۷}$$

سنک e اور نصف اکبر محور a

۱۷۱۶۱ آپ دیکھ سکتے ہیں کہ مساوات ۷ میں $e = 0$ پر کرنے سے $r = a$ حاصل ہوتا ہے جو ایک دائرہ کو ظاہر کرتی ہے۔

۱۷۱۶۲ سیاروں کے مدار معلوم کرنے کے لئے مساوات ۷ ابتدائی مساوات ہے۔

۱۷۱۶۳ مثال ۱۰.۴۳: ایک ترخیم کا نصف محور اکبر 39.44 فلکیاتی اکائی اور سنک 0.25 ہے۔ اس ترخیم کی قطبی مساوات تلاش کریں۔ یہ تخمیناً سیارہ پلوٹو کا
۱۷۱۶۴ مدار ہے۔

۱۷۱۶۵ حل: ہم مساوات ۷ میں $a = 39.44$ اور $e = 0.25$ پر کرتے ہیں۔

$$r = \frac{39.44(1 - (0.25)^2)}{1 + 0.25\cos\theta} = \frac{147.9}{4 + \cos\theta}$$

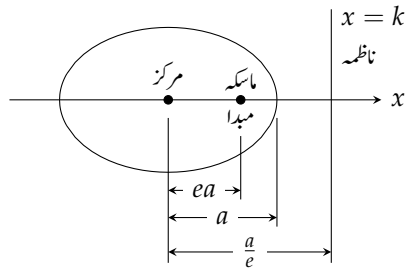

شکل ۱۰.۷۵: ایک ترخیم جس کا نصف محور اکبر a ہو، ماسکہ تا ناظمہ فاصلہ لہٰذا $k = \frac{a}{e} - ea$ یعنی $ke = a(1-e^2)$ ہو گا۔

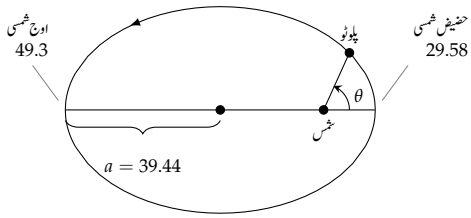

شکل ۱۰.۷۶: مدار پلوٹو (مثال ۱۰.۴۳)

۱۷۱۶۶ **حضیض شمسی**[۴۱] پر سورج سے پلوٹو

$$r = \frac{147.9}{4+1} = 29.58$$

۱۷۱۶۷ فلکی اکائیاں دور ہو گا جبکہ اصطلاحاً اوج شمسی[۴۲] پر یہ سورج سے

$$r = \frac{147.9}{4-1} = 49.3$$

۱۷۱۶۸ فلکی اکائیاں دور ہو گا (شکل ۱۰.۷۶)۔ □

۱۷۱۶۹ مثال ۱۰.۴۴: ایک ماسکہ سے مطابقتی ناظمہ تک فاصل مثال ۱۰.۴۳ میں معلوم کریں۔

۱۷۱۷۰ حل: ہم مساوات ۶ میں $a = 39.44$ اور $e = 0.25$ پر کر کے

$$k = 39.44\left(\frac{1}{0.25} - 0.25\right) = 147.9$$

۱۷۱۷۱ فلکی اکائیاں حاصل کرتے ہیں۔ □

۱۷۱۷۲ **سوالات**

۱۷۱۷۳ **خطوط**

۱۷۱۷۴ سوال ۱۰.۴۰۳ تا سوال ۱۰.۴۰۶ میں دیے خطوط کی قطبی اور کارتیسی مساوات تلاش کریں۔

---

[۴۱] perihelion
[۴۲] aphelion

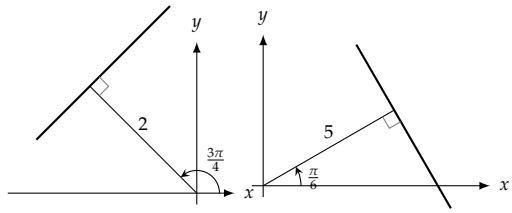

شکل ۱۰.۷۷: ترسیم سوال ۱۰.۴۰۳

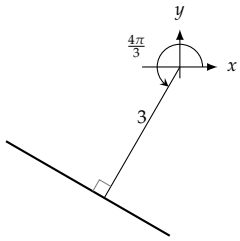

شکل ۱۰.۷۸: ترسیم سوال ۱۰.۴۰۴

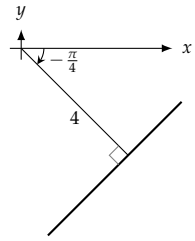

شکل ۱۰.۷۹: ترسیم سوال ۱۰.۴۰۵

شکل ۱۰.۸۰: ترسیم سوال ۱۰.۴۰۶

۱۷۷۵ سوال ۱۰.۴۰۳: خط شکل ۱۰.۷۷ میں ترسیم کیا گیا ہے۔

۱۷۷۶ سوال ۱۰.۴۰۴: خط شکل ۱۰.۷۸ میں ترسیم کیا گیا ہے۔

۱۷۷۷ سوال ۱۰.۴۰۵: خط شکل ۱۰.۷۹ میں ترسیم کیا گیا ہے۔

۱۷۷۸ سوال ۱۰.۴۰۶: خط شکل ۱۰.۸۰ میں ترسیم کیا گیا ہے۔

۱۷۷۹

۱۷۸۰ سوال ۱۰.۴۰۷ تا سوال ۱۰.۴۱۰ میں دی مساوات کو ترسیم کریں اور ان کی کارتیسی مساوات معلوم کریں۔

۱۷۸۱ سوال ۱۰.۴۰۷: $r\cos(\theta - \frac{\pi}{4}) = \sqrt{2}$

۱۷۸۲ سوال ۱۰.۴۰۸: $r\cos(\theta + \frac{3\pi}{4}) = 1$

۱۷۸۳ سوال ۱۰.۴۰۹: $r\cos(\theta - \frac{2\pi}{3}) = 3$

۱۷۸۴ سوال ۱۰.۴۱۰: $r\cos(\theta + \frac{\pi}{3}) = 2$

۱۷۸۵

۱۷۸۶ سوال ۱۰.۴۱۱ تا سوال ۱۰.۴۱۴ میں دی گئی کارتیسی مساوات کی قطبی روپ ($r\cos(\theta - \theta_0) = r_0$) تلاش کریں۔

۱۷۸۷ سوال ۱۰.۴۱۱: $\sqrt{2}x + \sqrt{2}y = 6$

۱۷۸۸ سوال ۱۰.۴۱۲: $\sqrt{3}x - y = 1$

۱۷۸۹ سوال ۱۰.۴۱۳: $y = -5$

۱۷۹۰ سوال ۱۰.۴۱۴: $x = -4$

۱۷۹۱

۱۷۹۲ سوال ۱۰.۴۱۵ تا سوال ۱۰.۴۱۸ میں دی گئی دائروں کی قطبی مساوات دریافت کریں۔

۱۷۹۳ سوال ۱۰.۴۱۵: دائرہ شکل ۱۰.۸۱

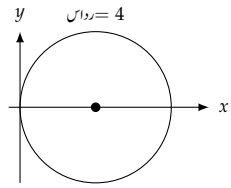

شکل ۱۰.۸۱: دائرہ سوال ۱۰.۴۱۵

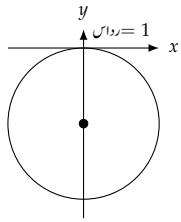

شکل ۱۰.۸۲: دائرہ سوال ۱۰.۴۱۶

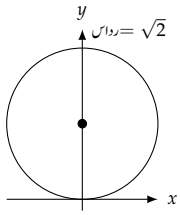

شکل ۱۰.۸۳: دائرہ سوال ۱۰.۴۱۷

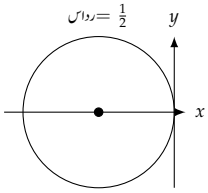

شکل ۱۰.۸۴: دائرہ سوال ۱۰.۴۱۸

سوال ۱۰.۴۱۶: دائرہ شکل ۱۰.۸۲

سوال ۱۰.۴۱۷: دائرہ شکل ۱۰.۸۳

سوال ۱۰.۴۱۸: دائرہ شکل ۱۰.۸۴

سوال ۱۰.۴۱۹ تا سوال ۱۰.۴۲۲ میں دیے گئے دائرے ترسیم کریں۔ ان کے مرکز کے قطبی محدد اور رداس لکھیں۔

سوال ۱۰.۴۱۹: $r = 4\cos\theta$

سوال ۱۰.۴۲۰: $r = 6\sin\theta$

سوال ۱۰.۴۲۱: $r = -2\cos\theta$

سوال ۱۰.۴۲۲: $r = -8\sin\theta$

سوال ۱۰.۴۲۳ تا سوال ۱۰.۴۳۰ کے قطبی مساوات معلوم کریں۔

سوال ۱۰.۴۲۳: $(x-6)^2 + y^2 = 36$

سوال ۱۰.۴۲۴: $(x+2)^2 + y^2 = 4$

سوال ۱۰.۴۲۵: $x^2 + (y-5)^2 = 25$

سوال ۱۰.۴۲۶: $x^2 + (y+7)^2 = 49$

سوال ۱۰.۴۲۷: $x^2 + 2x + y^2 = 0$

سوال ۱۰.۴۲۸: $x^2 - 16x + y^2 = 0$

سوال ۱۰.۴۲۹: $x^2 + y^2 + y = 0$

سوال ۱۰.۴۳۰: $x^2 + y^2 - \frac{4}{3}y = 0$

سنک اور ناظمہ سے مخروط خطے

سوال ۱۰.۴۳۱ تا سوال ۱۰.۴۳۸ میں مخروط حصوں کی سنک دی گئی ہے۔ مخروط حصے کا ایک ماسکہ مبدا پر واقع ہے اور اس کا مطابقتی ناظمہ بھی دیا گیا ہے۔ اس مخروط حصے کی قطبی مساوات تلاش کریں۔

سوال ۱۰.۴۳۱: $e = 1, \quad x = 2$

سوال ۱۰.۴۳۲: $e = 1, \quad y = 2$

سوال ۱۰.۴۳۳: $e = 5, \quad y = -6$

سوال ۱۰.۴۳۴: $e = 2, \quad x = 4$

سوال ۱۰.۴۳۵: $e = \frac{1}{2}, \quad x = 1$

سوال ۱۰.۴۳۶: $e = \frac{1}{4}, \quad x = -2$

سوال ۱۰.۴۳۷: $e = \frac{1}{5}, \quad y = -10$

سوال ۱۰.۴۳۸: $e = \frac{1}{3}, \quad y = 6$

قطع مکافی اور ترخیم

سوال ۱۰.۴۳۹ تا سوال ۱۰.۴۴۶ کے قطع مکافی اور ترخیمات کو ترسیم کریں۔ مبدا پر واقع ماسکہ کا مطابقتی ناظمہ بھی ترسیم کریں۔ ہر مخروط حصے کی قطبی مساوات تلاش کریں۔

سوال ۱۰.۴۳۹: $r = \frac{1}{1+\cos\theta}$

سوال ۱۰.۴۴۰: $r = \frac{6}{2+\cos\theta}$

سوال ۱۰.۴۴۱: $r = \frac{25}{10-5\cos\theta}$

سوال ۱۰.۴۴۲: $r = \frac{4}{2-2\cos\theta}$

سوال ۱۰.۴۴۳: $r = \frac{400}{16+8\sin\theta}$

سوال ۱۰.۴۴۴: $r = \frac{12}{3+3\sin\theta}$

سوال ۱۰.۴۴۵: $r = \frac{8}{2-2\sin\theta}$

سوال ۱۰.۴۴۶: $r = \frac{4}{2-\sin\theta}$

عدم مساوات کی ترسیمات

سوال ۱۰.۴۴۷ اور سوال ۱۰.۴۴۸ میں عدم مساوات کو ترسیم کریں۔

سوال ۱۰.۴۴۷: $0 \leq r \leq 2\cos\theta$

سوال ۱۰.۴۴۸: $-3\cos\theta \leq r \leq 0$

کمپیوٹر کا استعمال

سوال ۱۰.۴۴۹ تا سوال ۱۰.۴۵۸ میں دیے گئے خط اور مخروط خطے ترسیم کریں۔

سوال ۱۰.۴۴۹: $r = 3\sec(\theta - \frac{\pi}{3})$

سوال ۱۰.۴۵۰: $r = 4\sec(\theta + \frac{\pi}{6})$

سوال ۱۰.۴۵۱: $r = 4\sin\theta$

سوال ۱۰.۴۵۲: $r = -2\cos\theta$

سوال ۱۰.۴۵۳: $r = \frac{8}{4+\cos\theta}$

سوال ۱۰.۴۵۴: $r = \frac{8}{4+\sin\theta}$

سوال ۱۰.۴۵۵: $r = \frac{1}{1-\sin\theta}$

سوال ۱۰.۴۵۶: $r = \frac{1}{1+\cos\theta}$

سوال ۱۰.۴۵۷: $r = \frac{1}{1+2\sin\theta}$

سوال ۱۰.۴۵۸: $r = \frac{1}{1+2\cos\theta}$

نظریہ اور مثالیں

سوال ۱۰.۴۵۹: حضیض شمسی اور اوج شمسی

ایک سیارہ اپنے سورج کے گرد ایک ترخیم پر گھومتا ہے جس کے نصف محور اکبر کی لمبائی a ہے۔

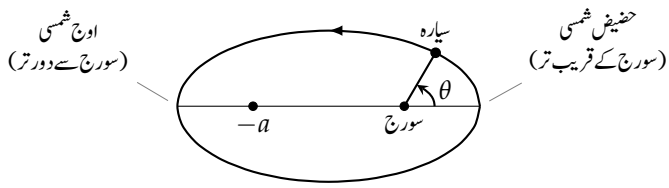

ا. دکھائیں کہ جب سیارہ سورج کے قریب تر ہو تب $r = a(1-e)$ ہو گا اور جب یہ سورج سے دور تر ہو تب $r = a(1+e)$ ہو گا۔

ب. جدول ۱۰.۴ کی مدد سے معلوم کریں کہ ہماری نظام شمسی میں ہر سیارہ سورج کے کتنے نزدیک اور اس سے کتنا دور ہو سکتا ہے۔

جدول ۱۰.۴: سیاروں کے مدار کی معلومات۔

سیارہ	نصف محور اکبر (فلکی اکائیاں)	سنک
عطارہ	0.3871	0.2056
زھرہ	0.7233	0.0068
زمین	1.000	0.0167
مریخ	1.524	0.0934
مشتری	5.203	0.0484
زحل	9.539	0.0543
یورانس	19.18	0.0460
نیپچون	30.06	0.0082
پلوٹو	39.44	0.2481

سوال ۱۰.۴۶۰: سیاروں کے مدار پر حرکت

ہم نے مثال ۱۰.۴۳ میں پلوٹو کے مدار کی قطبی مساوات معلوم کی۔ جدول ۱۰.۴ کی مدد سے دیگر سیاروں کے مدار کی مساوات تلاش کریں۔

سوال ۱۰.۴۶۱: (الف) منحنیات $r = 4\sin\theta$ اور $r = \sqrt{3}\sec\theta$ کی کارتیسی مساواتیں تلاش کریں۔ (ب) ان دنوں منحنیات کو ایک ساتھ ترسیم کر کے ان کے نقطہ تقاطع کو کارتیسی اور قطبی محدد میں ظاہر کریں۔

سوال ۱۰.۴۶۲: (الف) منحنیات $r = 8\cos\theta$ اور $r = 2\sec\theta$ کی کارتیسی مساواتیں تلاش کریں۔ (ب) ان دنوں منحنیات کو ایک ساتھ ترسیم کر کے ان کے نقطہ تقاطع کو کارتیسی اور قطبی محدد میں ظاہر کریں۔

سوال ۱۰.۴۶۳: ایک قطع مکافی کا ماسکہ $(0,0)$ پر ہے جبکہ اس کا ناظمہ $r\cos\theta = 4$ ہے۔ اس کی قطبی مساوات تلاش کریں۔

سوال ۱۰.۴۶۴: ایک قطع مکافی کا ماسکہ $(0,0)$ پر ہے جبکہ اس کا ناظمہ $r\cos(\theta - \frac{\pi}{2}) = 2$ ہے۔ اس کی قطبی مساوات تلاش کریں۔

سوال ۱۰.۴۶۵: خلائی مہندس

ا. ترخیمی مدار کی سنک کا کلیہ خلائی مہندس درج ذیل لکھے گا

$$e = \frac{r_{\text{بلند تر}} - r_{\text{کمتر}}}{r_{\text{بلند تر}} + r_{\text{کمتر}}}$$

جہاں خلائی جہاز سے قوت کشش کے مرکز تک فاصلہ r ہے۔ یہ کلیہ کیوں قابل استعمال ہے؟

ب. ترخیم کی ترسیم بذریعہ دھاگہ۔ آپ کے پاس 10 cm لمبائی کا ایک دھاگہ ہے جس کے سرینیوں کے ساتھ بندھے ہوئے ہیں۔ آپ صفحہ ۱۰۲۲ پر شکل ۱۰.۴ میں دکھائی گئی ترکیب استعمال کر کے ایک ترخیم ترسیم کریں جس کی سنک 0.2 ہو۔ یہ ترخیم سیارہ مریخ کا مدار دے گا۔

سوال ۱۰.۴۶۶: ہالی دم دار ستارہ (مثال ۱۰.۶ دیکھیں۔)

ا. دم دار ستارہ ہالی کے مدار کی مساوات اس محددی نظام میں لکھیں جس میں شمس مبدا پر ہو جبکہ دوسرا ماسکہ منفی x محور پر ہو۔ فلکی اکائیاں استعمال کریں۔

ب. یہ دم دار ستارہ سورج کے کتنے قریب پہنچتا ہے؟ جواب فلکی اکائیوں میں اور کلومیٹر میں دیں۔

سوال ۱۰.۴۶۷ تا سوال ۱۰.۴۷۰ میں دی گئی منحنی کی قطبی مساوات تلاش کریں۔ منحنی کا خاکہ کھینچیں۔

سوال ۱۰.۴۶۷: $x^2 + y^2 - 2ay = 0$

سوال ۱۰.۴۶۸: $y^2 = 4ax + 4a^2$

سوال ۱۰.۴۶۹: $x \cos \alpha + y \sin \alpha = p \quad (\alpha, p$ مستقل$)$

سوال ۱۰.۴۷۰: $(x^2 + y^2)^2 + 2ax(x^2 + y^2) - a^2y^2 = 0$

کمپیوٹر کا استعمال

سوال ۱۰.۴۷۱: کمپیوٹر پر درج ذیل کو k اور e کی مختلف قیمتوں اور $-\pi \leq \theta \leq \pi$ کے لئے ترسیم کریں۔

$$r = \frac{ke}{1 + e \cos \theta}$$

درج ذیل سوالات کے جواب دیں۔

ا. آپ $k = -2$ لیں۔ اب e کی قیمت $\frac{3}{4}$ ، 1 اور $\frac{5}{4}$ کرنے سے ترسیم پر کیا اثر ہو گا؟ یہی کچھ $k = 2$ لے کر کریں۔

ب. آپ $k = -1$ لیں۔ اب e کی قیمت $\frac{7}{6}$ ، $\frac{5}{4}$ ، $\frac{4}{3}$ ، $\frac{3}{2}$ ، 2 ، 3 ، 5 ، 10 اور 20 کرنے سے ترسیم پر کیا اثر ہو گا؟ یہ کچھ $e = \frac{1}{2}$ ، $\frac{1}{3}$ ، $\frac{1}{4}$ ، $\frac{1}{10}$ اور $\frac{1}{20}$ کے لئے کریں۔

ج. اب $e > 0$ اور غیر متغیر رکھتے ہوئے k کی قیمت -1 ، -2 ، -3 ، -4 اور -5 کرنے سے ترسیم پر کیا اثر ہو گا؟ ترخیم، قطع مکافی اور قطع زائد کی ترسیمات پر نظر رکھیں۔

سوال ۱۰.۴۷۲: درج ذیل قطبی ترخیم کو مختلف $a > 0$ اور $0 < e < 1$ ، $-\pi \leq \theta \leq \pi$ کے لئے کمپیوٹر پر ترسیم کریں۔

$$r = \frac{a(1 - e^2)}{1 + e \cos \theta}$$

ا. آپ $e = \frac{9}{10}$ لیں۔ اب a کی قیمت 1 ، $\frac{3}{2}$ ، 2 ، 3 ، 5 اور 10 لینے سے ترسیم پر کیا اثر پیدا ہو گا؟ یہی کچھ $e = \frac{1}{4}$ کے لئے کر کے دیکھیں۔

ب. آپ $a = 2$ لیں۔ اب e کی قیمت $\frac{9}{10}$ ، $\frac{8}{10}$ ، $\frac{7}{10}$ ، ...، $\frac{1}{10}$ ، $\frac{1}{20}$ اور $\frac{1}{50}$ لینے سے ترسیم پر کیا اثر ہو گا؟

۱۰.۹ قطبی محدد میں تکمل

اس حصہ میں قطبی محدد استعمال کرتے ہوئے مستوی خطوں کا رقبہ، منحنیات کی لمبائی، اور سطح طواف کا رقبہ حاصل کرنا سکھایا جائے گا۔

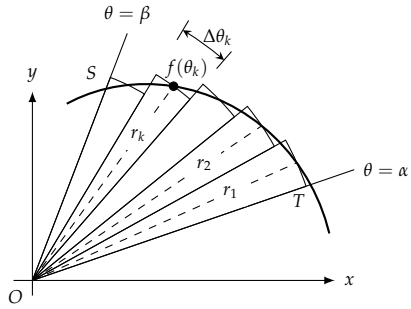

شکل ۱۰.۸۵: خطہ OTS کا رقبہ۔

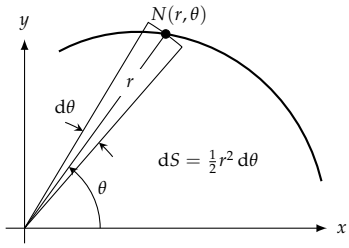

شکل ۱۰.۸۶: تفرقی رقبہ $\mathrm{d}S$

۱۷۳۰۳ **مستوی میں رقبہ**

۱۷۳۰۴ شکل ۱۰.۸۵ میں خطہ OTS کی حدیں ود شعاع $\theta = \alpha$، شعاع $\theta = \beta$ اور منحنی $r = f(\theta)$ ہیں۔ ہم اس خطہ کو n عدد پنکھا نما پٹیوں میں
۱۷۳۰۵ تقسیم کرتے ہیں جو زاویہ TOS کی خانہ بندی P پر مبنی ہے۔ ایک علامتی پٹی کا رداس $r_k = f(\theta_k)$ اور وسطی زاویہ $\Delta\theta_k$ ہو گا جبکہ اس کا رقبہ
۱۷۳۰۶ درج ذیل ہو گا۔

$$S_k = \frac{1}{2}r_k^2\Delta\theta_k = \frac{1}{2}(f(\theta_k))^2\Delta\theta_k$$

۱۷۳۰۷ یوں مکمل خطے کا رقبہ تخمیناً

$$\sum_{k=1}^{n} S_k = \sum_{k=1}^{n} \frac{1}{2}(f(\theta_k))^2\Delta\theta_k$$

۱۷۳۰۸ ہو گا۔ اگر f استمراری ہو تب ہم توقع کرتے ہیں کہ $\|P\| \to 0$ کرنے سے یہ تخمین بہتر سے بہتر ہو گی لہٰذا خطے کا رقبہ درج ذیل ہو گا۔

$$\begin{aligned} S &= \lim_{\|P\|\to 0} \sum_{k=1}^{n} \frac{1}{2}(f(\theta_k))^2\Delta\theta_k \\ &= \int_{\alpha}^{\beta} \frac{1}{2}(f(\theta))^2\,\mathrm{d}\theta \end{aligned}$$

۱۷۳۰۹ **مبدا اور منحنی $r = f(\theta),\ \alpha \le \theta \le \beta$ کے بیچ پنکھا نما خطہ کا رقبہ**
۱۷۳۱۰

$$S = \int_{\alpha}^{\beta} \frac{1}{2}r^2\,\mathrm{d}\theta$$

۱۷۳۱۱ یہ درج ذیل تفرقی رقبے کا تکمل ہے (شکل ۱۰.۸۶)۔

$$\mathrm{d}S = \frac{1}{2}r^2\,\mathrm{d}\theta$$

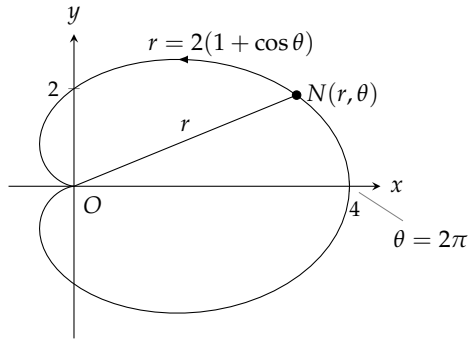

شکل ۱۰.۸۷: قلب نما کی ترسیم برائے مثال ۱۰.۴۵

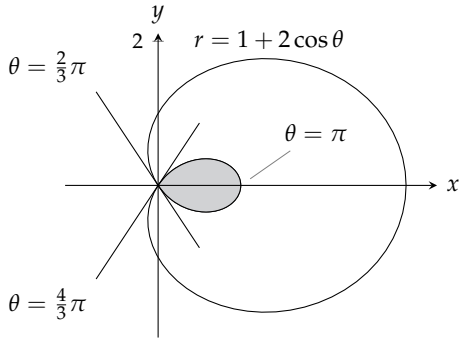

شکل ۱۰.۸۸: رقبہ گھونگا (مثال ۱۰.۴۶)

۱۷۳۱۲ مثال ۱۰.۴۵: قلب نما $r = 2(1+\cos\theta)$ کا رقبہ تلاش کریں۔

۱۷۳۱۳ حل: ہم قلب نما کو ترسیم (شکل ۱۰.۸۷) کر کے رداس OP کی نشاندہی کرتے ہیں جو $\theta = 0$ تا $\theta = 2\pi$ کرنے سے قلب نما پر ٹھیک ایک بار
۱۷۳۱۴ چلتا ہے۔ یہ رقبہ درج ذیل ہو گا۔

$$\begin{aligned}
\int_{\theta=0}^{\theta=2\pi} \frac{1}{2}r^2\,\mathrm{d}\theta &= \int_0^{2\pi} \frac{1}{2}\cdot 4(1+\cos\theta)^2\,\mathrm{d}\theta \\
&= \int_0^{2\pi} 2(1+2\cos\theta+\cos^2\theta)\,\mathrm{d}\theta \\
&= \int_0^{2\pi} \left(2+4\cos\theta+2\frac{1+\cos 2\theta}{2}\right)\mathrm{d}\theta \\
&= \int_0^{2\pi} (3+4\cos\theta+\cos 2\theta)\,\mathrm{d}\theta \\
&= \left[3\theta+4\sin\theta+\frac{\sin 2\theta}{2}\right]_0^{2\pi} = 6\pi - 0 = 6\pi
\end{aligned}$$

۱۷۳۱۵ □

۱۷۳۱۶ مثال ۱۰.۴۶: درج ذیل گھونگا کے چھوٹے گھیرے کا رقبہ تلاش کریں۔

$$r = 1+2\cos\theta$$

۱۷۳۱۷ حل: ہم اس گھونگے کو ترسیم کرتے ہیں (شکل ۱۰.۸۸)۔ ہم دیکھتے ہیں کہ چھوٹے گھیرا $\theta = \frac{2}{3}\pi$ اور $\theta = \frac{4}{3}\pi$ کے بیچ پایا جاتا ہے۔ ہم نصف

۱۷۳۱۸ رقبہ $\theta = \frac{2}{3}\pi$ تا $\theta = \pi$ تلاش کر کے اس کو 2 سے ضرب دیتے ہیں۔

$$S = 2\int_{\frac{2}{3}\pi}^{\pi} \frac{1}{2} r^2 \, \mathrm{d}\theta = \int_{\frac{2}{3}\pi}^{\pi} r^2 \, \mathrm{d}\theta$$

۱۷۳۱۹ متکمل r^2 کی سادہ صورت حاصل کرتے ہیں۔

$$\begin{aligned} r^2 &= (2\cos\theta + 1)^2 = 4\cos^2\theta + 4\cos\theta + 1 \\ &= 4 \cdot \frac{1 + \cos 2\theta}{2} + 4\cos\theta + 1 \\ &= 2 + 2\cos 2\theta + 4\cos\theta + 1 \\ &= 3 + 2\cos 2\theta + 4\cos\theta \end{aligned}$$

۱۷۳۲۰ یوں رقبہ درج ذیل ہو گا۔

$$\begin{aligned} S &= \int_{\frac{2}{3}\pi}^{\pi} (3 + 2\cos 2\theta + 4\cos\theta) \, \mathrm{d}\theta \\ &= \Big[3\theta + \sin 2\theta + 4\sin\theta\Big]_{\frac{2}{3}\pi}^{\pi} \\ &= (3\pi) - \left(2\pi - \frac{\sqrt{3}}{2} + 4 \cdot \frac{\sqrt{3}}{2}\right) \\ &= \pi - \frac{3\sqrt{3}}{2} \end{aligned}$$

۱۷۳۲۱ □

۱۷۳۲۲ ہم شکل ۱۰.۸۹ طرز خط جو منحنیات $r_1 = r_1(\theta)$ اور $r_2 = r_2(\theta)$ کے بیچ $\theta = \alpha$ تا $\theta = \beta$ پایا جاتا ہو، کا رقبہ تلاش کرنے کی خاطر
۱۷۳۲۳ تکمل $\frac{1}{2} r_2^2 \, \mathrm{d}\theta$ سے تکمل $\frac{1}{2} r_1^2 \, \mathrm{d}\theta$ منفی کرتے ہیں۔ اس سے درج ذیل کلیہ حاصل ہوتا ہے۔

۱۷۳۲۴ **خطہ** $\alpha \le \theta \le \beta$, $0 \le r_1(\theta) \le r \le r_2(\theta)$ **کا رقبہ**
۱۷۳۲۵

$$S = \int_{\alpha}^{\beta} \frac{1}{2} r_2^2 \, \mathrm{d}\theta - \int_{\alpha}^{\beta} \frac{1}{2} r_1^2 \, \mathrm{d}\theta = \int_{\alpha}^{\beta} \frac{1}{2}(r_2^2 - r_1^2) \, \mathrm{d}\theta \tag{1}$$

۱۷۳۲۶ مثال ۱۰.۴۷: اس خطے کا رقبہ تلاش کریں جو دائرہ $r = 1$ کے اندر اور قلب نما $r = 1 - \cos\theta$ کے باہر پایا جاتا ہے۔

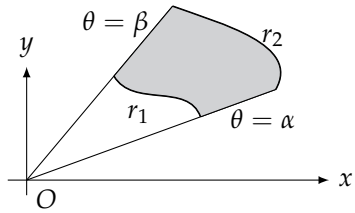

شکل ۱۰.۸۹: سایہ دار رقبہ تلاش کرنے کی خاطر r_2 اور مبدا کے بیچ رقبہ سے r_1 اور مبدا O کے بیچ رقبہ منفی کیا جاتا ہے۔

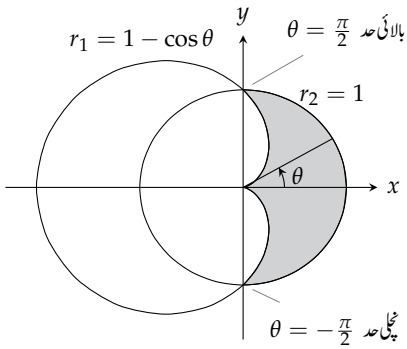

شکل ۱۰.۹۰: دائرہ اور قلب نما کے بیچ رقبہ (مثال ۱۰.۴۷)

۱۷۳۲۷ حل: ہم رقبہ ترسیم کر کے خطے کی حدود اور تکمل کی حدود معلوم کرتے ہیں (شکل ۱۰.۹۰)۔ بیرونی منحنی $r_2 = 1$ جبکہ اندرونی منحنی $r_1 = 1 - \cos\theta$ ہے جبکہ θ کی قیمت $-\frac{\pi}{2}$ تا $\frac{\pi}{2}$ ہے۔ مساوات اسے درج ذیل رقبہ حاصل ہو گا۔ ۱۷۳۲۸

$$
\begin{aligned}
S &= \int_{-\frac{\pi}{2}}^{\frac{\pi}{2}} \frac{1}{2}(r_2^2 - r_1^2)\,\mathrm{d}\theta \\
&= 2\int_0^{\pi/2} \frac{1}{2}(r_2^2 - r_1^2)\,\mathrm{d}\theta && \text{تشاکلی} \\
&= \int_0^{\pi/2} (1 - (1 - 2\cos\theta) + \cos^2\theta)\,\mathrm{d}\theta \\
&= \int_0^{\pi/2} (2\cos\theta - \cos^2\theta)\,\mathrm{d}\theta = \int_0^{\pi/2} \left(2\cos\theta - \frac{1 + \cos 2\theta}{2}\right) \\
&= \left[2\sin\theta - \frac{\theta}{2} - \frac{\sin 2\theta}{4}\right]_0^{\pi/2} = 2 - \frac{\pi}{4}
\end{aligned}
$$

۱۷۳۲۹ □

۱۷۳۳۰ منحنی کی لمبائی

۱۷۳۳۱ ہم منحنی $r = f(\theta),\ \alpha \le \theta \le \beta$ کی لمبائی کا قطبی کلیہ اخذ کرنے کی خاطر اس منحنی کی درج ذیل مقدار معلوم مساوات لکھتے ہیں۔

$$x = r\cos\theta = f(\theta)\cos\theta, \quad y = r\sin\theta = f(\theta\sin\theta), \quad \alpha \le \theta \le \beta \tag{۲}$$

۱۷۳۳۲ یوں مقدار معلوم لمبائی کے کلیہ (مساوات ۳)

$$L = \int_\alpha^\beta \sqrt{\left(\frac{\mathrm{d}x}{\mathrm{d}\theta}\right)^2 + \left(\frac{\mathrm{d}y}{\mathrm{d}\theta}\right)^2}\,\mathrm{d}\theta$$

۱۷۳۳۳ میں x اور y کی قیمتیں مساوات ۲ سے پر کر کے درج ذیل حاصل ہو گا (سوال ۱۰.۵۰۵)۔

$$L = \int_\alpha^\beta \sqrt{r^2 + \left(\frac{\mathrm{d}r}{\mathrm{d}\theta}\right)^2}\,\mathrm{d}\theta$$

۱۷۳۳۴ **لمبائی قوس**

۱۷۳۳۵ اگر $\alpha \le \theta \le \beta$ پر $r = f(\theta)$ کا پہلا استمراری تفرق پایا جاتا ہو اور اگر θ کی قیمت α سے β کرنے سے نقطہ $N(r,\theta)$ پوری منحنی
۱۷۳۳۶ $r = f(\theta)$ پر ٹھیک ایک بار چلتا ہو تب اس منحنی کی لمبائی درج ذیل ہو گی۔

$$L = \int_\alpha^\beta \sqrt{r^2 + \left(\frac{\mathrm{d}r}{\mathrm{d}\theta}\right)^2}\,\mathrm{d}\theta \tag{۳}$$

۱۷۳۳۷ مثال ۱۰.۴۸: قلب نما $r = 1 - \cos\theta$ کی لمبائی دریافت کریں۔

۱۷۳۳۸ حل: ہم قلب نما کا خاکہ کھینچتے ہیں تاکہ تکمل کی حدود معلوم کر سکیں (شکل ۱۰.۹۱)۔ زاویہ θ کو 0 سے 2π کرنے سے نقطہ $N(r,\theta)$ ٹھیک ایک
۱۷۳۳۹ بار پوری قلب نما پر گھڑی کے الٹ رخ چلتا ہے لہٰذا $\alpha = 0$ اور $\beta = 2\pi$ ہوں گے۔ اب

$$r = 1 - \cos\theta, \quad \frac{\mathrm{d}r}{\mathrm{d}\theta} = \sin\theta$$

۱۷۳۴۰ سے

$$\begin{aligned} r^2 + \left(\frac{\mathrm{d}r}{\mathrm{d}\theta}\right)^2 &= (1-\cos\theta)^2 + (\sin\theta)^2 \\ &= 1 - 2\cos\theta + \underbrace{\cos^2\theta + \sin^2\theta}_{1} = 2 - 2\cos\theta \end{aligned}$$

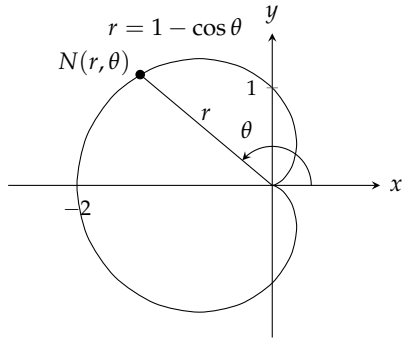

شکل ۱۰.۹۱: قلب نما کی لمبائی (مثال ۱۰.۴۸)

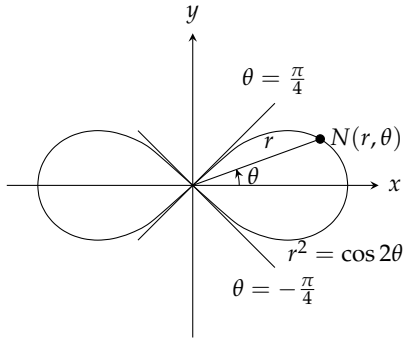

شکل ۱۰.۹۲: قلب نما کی لمبائی (مثال ۱۰.۴۹)

۱۷۳۴۱ حاصل ہو گا لہٰذا لمبائی قوس درج ذیل ہو گی۔

$$
\begin{aligned}
L &= \int_\alpha^\beta \sqrt{r^2 + \left(\frac{\mathrm{d}r}{\mathrm{d}\theta}\right)^2}\,\mathrm{d}\theta = \int_0^{2\pi} \sqrt{2 - 2\cos\theta}\,\mathrm{d}\theta \\
&= \int_0^{2\pi} \sqrt{4\sin^2\frac{\theta}{2}}\,\mathrm{d}\theta \qquad (1 - \cos\theta = 2\sin^2\tfrac{\theta}{2}) \\
&= \int_0^{2\pi} 2\left|\sin\frac{\theta}{2}\right|\mathrm{d}\theta \\
&= \int_0^{2\pi} 2\sin\frac{\theta}{2}\,\mathrm{d}\theta \qquad (\text{کے لئے } 0 \le \theta \le 2\pi \text{ ہو گا } \sin\tfrac{\theta}{2} \ge 0) \\
&= \Big[-4\cos\frac{\theta}{2}\Big]_0^{2\pi} = 4 + 4 = 8
\end{aligned}
$$

۱۷۳۴۲ □

۱۷۳۴۳ **سطح طواف کا رقبہ**

۱۷۳۴۴ سطح طواف کے رقبہ کا قطبی کلیہ اخذ کرنے کی خاطر ہم مساوات ۲ کی مدد سے منحنی $r = f(\theta),\ \alpha \le \theta \le \beta$ کی مقدار معلوم مساوات لکھ کر حصہ
۱۷۳۴۵ ۱۰.۵ میں دی گئی سطحی رقبے کا کلیہ استعمال کرتے ہیں۔

۱۷۳۴۶ **سطح طواف کا رقبہ**

۱۷۳۴۷ اگر $\alpha \le \theta \le \beta$ پر $r = f(\theta)$ کا استمراری پہلا تفرق پایا جاتا ہو اور اگر θ کی قیمت α تا β کرنے سے نقطہ $N(r,\theta)$ منحنی $r =$

۱۰.۳۴۸ $f(\theta)$ پر ٹھیک ایک بار چلتا ہو تب اس منحنی کو محور x اور محور y کے گرد گھما کر حاصل سطح طواف کے رقبے درج ذیل کلیات دیں گے۔

$$S = \int_{\alpha}^{\beta} 2\pi r \sin\theta \sqrt{r^2 + \left(\frac{\mathrm{d}r}{\mathrm{d}\theta}\right)^2}\, \mathrm{d}\theta \qquad (y \geq 0 \text{ محور } x \text{ کے گرد}) \tag{۴}$$

$$S = \int_{\alpha}^{\beta} 2\pi r \cos\theta \sqrt{r^2 + \left(\frac{\mathrm{d}r}{\mathrm{d}\theta}\right)^2}\, \mathrm{d}\theta \qquad (x \geq 0 \text{ محور } y \text{ کے گرد}) \tag{۵}$$

۱۰.۳۴۹ مثال ۱۰.۴۹: گھونگا $r^2 = \cos 2\theta$ کے دائیں گھیر کو محور y کے گرد گھما کر سطح طواف پیدا کیا جاتا ہے۔ اس سطح کا رقبہ معلوم کریں۔

۱۰.۳۵۰ حل: ہم اس گھیر کا خاکہ بنا کر تکمل کی حد تلاش کرتے ہیں (شکل ۱۰.۹۲)۔ زاویہ θ کی قیمت $-\frac{\pi}{4}$ تا $\frac{\pi}{4}$ کرنے سے نقطہ $N(r,\theta)$ منحنی پر ٹھیک
۱۰.۳۵۱ ایک بار گھڑی کے الٹ رخ چلتا ہے لہٰذا $\alpha = -\frac{\pi}{4}$ اور $\beta = \frac{\pi}{4}$ ہوں گے۔

۱۰.۳۵۲ ہم مساوات ۴ کا تکمل مرحلوں میں حل کرتے ہیں۔ پہلے مرحلہ میں درج ذیل حاصل کرتے ہیں۔

$$2\pi r \cos\theta \sqrt{r^2 + \left(\frac{\mathrm{d}r}{\mathrm{d}\theta}\right)^2} = 2\pi \cos\theta \sqrt{r^4 + \left(r\frac{\mathrm{d}r}{\mathrm{d}\theta}\right)^2} \tag{۶}$$

۱۰.۳۵۳ اس کے بعد $r^2 = \cos 2\theta$ لیتے ہوئے درج ذیل حاصل کرتے ہیں۔

$$\begin{aligned}
2r\frac{\mathrm{d}r}{\mathrm{d}\theta} &= -2\sin 2\theta \\
r\frac{\mathrm{d}r}{\mathrm{d}\theta} &= -\sin 2\theta \\
\left(r\frac{\mathrm{d}r}{\mathrm{d}\theta}\right)^2 &= \sin^2 2\theta
\end{aligned}$$

۱۰.۳۵۴ آخر میں $r^4 = (r^2)^2 = \cos^2 2\theta$ کی وجہ سے مساوات ۶ میں دائیں ہاتھ جذر درج ذیل صورت اختیار کرے گا۔

$$\sqrt{r^4 + \left(r\frac{\mathrm{d}r}{\mathrm{d}\theta}\right)^2} = \sqrt{\cos^2 2\theta + \sin^2 2\theta} = 1$$

۱۰.۳۵۵ ان تمام نتائج کو مل کر ہم رقبہ حاصل کرتے ہیں۔

$$\begin{aligned}
S &= \int_{\alpha}^{\beta} 2\pi r \cos\theta \sqrt{r^2 + \left(\frac{\mathrm{d}r}{\mathrm{d}\theta}\right)^2}\, \mathrm{d}\theta \qquad \text{مساوات ۴} \\
&= \int_{-\frac{\pi}{4}}^{\frac{\pi}{4}} 2\pi \cos\theta \cdot (1)\, \mathrm{d}\theta \\
&= 2\pi \Big[\sin\theta\Big]_{-\pi/4}^{\pi/4} \\
&= 2\pi \left[\frac{\sqrt{2}}{2} + \frac{\sqrt{2}}{2}\right] = 2\pi\sqrt{2}
\end{aligned}$$

□

سوالات

قطبی منحنیات کے اندر رقبہ

سوال ۱۰.۴۷۳ تا سوال ۱۰.۴۷۸ میں خطوں کے رقبے تلاش کریں۔

سوال ۱۰.۴۷۳: چپٹا گھونگا $r = 4 + 2\cos\theta$ کے اندر۔

سوال ۱۰.۴۷۴: قلب نما $r = a(1+\cos\theta),\ a > 0$ کے اندر۔

سوال ۱۰.۴۷۵: چار گل $r = \cos 2\theta$ کے ایک پتا کے اندر۔

سوال ۱۰.۴۷۶: دو چشمہ $r^2 = 2a^2\cos 2\theta,\ a > 0$ کے اندر۔

سوال ۱۰.۴۷۷: دو چشمہ $r^2 = 4\sin 2\theta$ کے ایک گھیر کے اندر۔

سوال ۱۰.۴۷۸: شش گل $r^2 = 2\sin 3\theta$ کے اندر۔

مشترکہ قطبی خطے کا رقبہ

سوال ۱۰.۴۷۹ تا سوال ۱۰.۴۸۸ میں مشترکہ قطبی خطے کا رقبہ تلاش کریں۔

سوال ۱۰.۴۷۹: دائرہ $r = 2\cos\theta$ اور $r = 2\sin\theta$ کا مشترکہ رقبہ۔

سوال ۱۰.۴۸۰: دائرہ $r = 1,$ اور $r = 2\sin\theta$ کا مشترکہ رقبہ۔

سوال ۱۰.۴۸۱: دائرہ $r = 2$ اور قلب نما $r = 2(1-\cos\theta)$ کا مشترکہ رقبہ۔

سوال ۱۰.۴۸۲: قلب نما $r = 2(1+\cos\theta)$ اور $r = 2(1-\cos\theta)$ کا مشترکہ رقبہ۔

سوال ۱۰.۴۸۳: دائرہ $r = \sqrt{3}$ کے باہر اور $r^2 = 6\cos 2\theta$ کے اندر۔

سوال ۱۰.۴۸۴: دائرہ $r = 3a\cos\theta$ کے اندر اور قلب نما $r = a(1+\cos\theta),\ a > 0$ کے باہر رقبہ۔

سوال ۱۰.۴۸۵: دائرہ $r = -2\cos\theta$ کے اندر اور دائرہ $r = 1$ کے باہر رقبہ۔

سوال ۱۰.۴۸۶: (ا) گھونگا $r = 2\cos\theta + 1$ کے بیرونی گھیر کا رقبہ (شکل ۱۰.۸۸)۔ (ب) گھونگا $r = 2\cos\theta + 1$ کے اندرونی گھیر کے باہر اور بیرونی گھیر کے اندر رقبہ۔

سوال ۱۰.۴۸۷: دائرہ $r = 6$ کے اندر خط $r = 3\csc\theta$ سے اوپر رقبہ۔

سوال ۱۰.۴۸۸: گھونگا $r^2 = 6\cos 2\theta$ کے اندر اور خط $r = \frac{3}{2}\sec\theta$ کے دائیں جانب رقبہ۔

سوال ۱۰.۴۸۹: (ا) سایہ دار خطہ شکل ۱۰.۹۳ میں دکھایا گیا ہے۔ اس کا رقبہ تلاش کریں۔ (ب) ایسا معلوم ہوتا ہے کہ $r = \tan\theta,\ -\frac{\pi}{2} < \theta < \frac{\pi}{2}$ لکیر $x = 1$ اور لکیر $x = -1$ کا متقاربی خط ہو سکتا ہے۔ کیا ایسا ہے؟ اپنے جواب کی وجہ پیش کریں۔

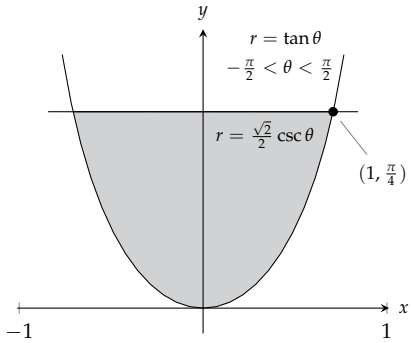

شکل ۱۰.۹۳: خطہ سوال ۱۰.۴۸۹

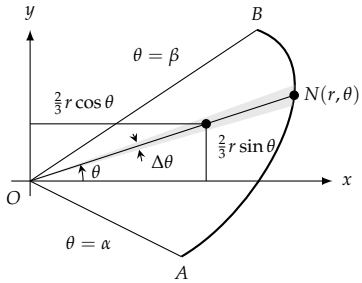

شکل ۱۰.۹۴: باریک سایہ دار خطے کے معیار اثر۔

۱۷۳۸۲

۱۷۳۸۳ سوال ۱۰.۴۹۰: قلب نما $r = \cos\theta + 1$ کے اندر اور دائرہ $r = \cos\theta$ کے باہر خطہ درج ذیل نہیں ہے۔

$$\frac{1}{2}\int_0^{2\pi} [(\cos\theta + 1)^2 - \cos^2\theta]\, d\theta = \pi$$

۱۷۳۸۴ ایسا کیوں ہے؟ اس کا رقبہ کتنا ہو گا؟ اپنے جواب کی وجہ پیش کریں۔

۱۷۳۸۵

۱۷۳۸۶ قطبی منحنیات کی لمبائیاں

۱۷۳۸۷ سوال ۱۰.۴۹۱ تا سوال ۱۰.۴۹۹ میں منحنی کی لمبائی تلاش کریں۔

۱۷۳۸۸ سوال ۱۰.۴۹۱: پیچ دار منحنی $r = \theta^2, \quad 0 \le \theta \le \sqrt{5}$

۱۷۳۸۹ سوال ۱۰.۴۹۲: پیچ دار منحنی $r = \frac{e^\theta}{\sqrt{2}}, \quad 0 \le \theta \le \pi$

۱۷۳۹۰ سوال ۱۰.۴۹۳: قلب نما $r = 1 + \cos\theta$

۱۷۳۹۱ سوال ۱۰.۴۹۴: منحنی $r = a\sin^2\frac{\theta}{2}, 0 \le \theta \le \pi, a > 0$

۱۷۳۹۲ سوال ۱۰.۴۹۵: قطع مکافی $r = \frac{6}{1+\cos\theta}, 0 \le \theta \le \frac{\pi}{2}$

۱۷۳۹۳ سوال ۱۰.۴۹۶: قطع مکافی $r = \frac{2}{1-\cos\theta}, \frac{\pi}{2} \le \theta \le \pi$

۱۷۳۹۴ سوال ۱۰.۴۹۷: منحنی $r = \cos^3\frac{\theta}{3}, 0 \le \theta \le \frac{\pi}{4}$

۱۷۳۹۵ سوال ۱۰.۴۹۸: منحنی $r = \sqrt{1 + \sin 2\theta}, 0 \le \theta \le \sqrt{2}\pi$

۱۷۳۹۶ سوال ۱۰.۴۹۹: منحنی $r = \sqrt{1+\cos 2\theta},\ 0 \le \theta \le \sqrt{2}\pi$

۱۷۳۹۷ سوال ۱۰.۵۰۰: دائرے کا محیط

۱۷۳۹۸ نیا کلیہ سیکھنے کے بعد بہتر ہوتا ہے کہ اس کو جانے پہچانے مسئلوں پر لاگو کیا جائے۔ قوس لمبائی کا کلیہ مساوات ۱۳ استعمال کرتے ہوئے درج ذیل دائروں کے محیط کی

۱۷۳۹۹ لمبائیاں تلاش کریں۔

۱۷۴۰۰ ا. $r = a$ ۱۷۴۰۱ ب. $r = a\cos\theta$ ۱۷۴۰۲ ج. $r = a\sin\theta$

۱۷۴۰۳ **سطح رقبہ**

۱۷۴۰۴ سوال ۱۰.۵۰۱ تا سوال ۱۰.۵۰۴ میں منحنی کو دیے گئے محور کے گرد گھما کر سطح طواف پیدا کیا جاتا ہے۔ اس سطح طواف کا رقبہ معلوم کریں۔

۱۷۴۰۵ سوال ۱۰.۵۰۱: محور y، $r = \sqrt{\cos 2\theta},\ 0 \le \theta \le \frac{\pi}{4}$

۱۷۴۰۶ سوال ۱۰.۵۰۲: محور x، $r = \sqrt{2}e^{\theta/2},\ 0 \le \theta \le \frac{\pi}{2}$

۱۷۴۰۷ سوال ۱۰.۵۰۳: محور x، $r^2 = \cos 2\theta$

۱۷۴۰۸ سوال ۱۰.۵۰۴: محور y، $r = 2a\cos\theta,\ a > 0$

۱۷۴۰۹ **نظریہ اور مثالیں**

۱۷۴۱۰ سوال ۱۰.۵۰۵: منحنی $r = f(\theta),\ \alpha \le \theta \le \beta$ کی لمبائی۔

۱۷۴۱۱ فرض کریں کہ مطلوبہ تفرق استمراری ہیں۔ دکھائیں کہ مساوات ۲ میں

$$x = f(\theta)\cos\theta, \quad y = f(\theta)\sin\theta$$

۱۷۴۱۲ پر کرنے سے

$$L = \int_\alpha^\beta \sqrt{\left(\frac{\mathrm{d}x}{\mathrm{d}\theta}\right)^2 + \left(\frac{\mathrm{d}y}{\mathrm{d}\theta}\right)^2}\,\mathrm{d}\theta$$

۱۷۴۱۳ درج ذیل روپ اختیار کرتی ہے۔

$$L = \int_\alpha^\beta \sqrt{r^2 + \left(\frac{\mathrm{d}r}{\mathrm{d}\theta}\right)^2}\,\mathrm{d}\theta$$

۱۷۴۱۴ سوال ۱۰.۵۰۶: اوسط قیمت

۱۷۴۱۵ استمراری f کی صورت میں منحنی $r = f(\theta),\ \alpha \le \theta \le \beta$ کے قطبی محدد r کی اوسط قیمت درج ذیل کلیہ دیتا ہے۔

$$r_{\text{اوسط}} = \frac{1}{\beta - \alpha}\int_\alpha^\beta f(\theta)\,\mathrm{d}\theta$$

۱۷۴۱۶ اس کلیہ کو استعمال کرتے ہوئے درج ذیل میں θ کے لحاظ سے $r_{\text{اوسط}}$ معلوم کریں جہاں $a > 0$ ہے۔

ا. قلب نما $r = a(1 - \cos\theta)$

ب. دائرہ $r = a$

ج. دائرہ $r = a\cos\theta,\ -\frac{\pi}{2} \leq \theta \leq \frac{\pi}{2}$

سوال ۱۰.۵۰۷: کیا $r = f(\theta),\ \alpha \leq \theta \leq \beta$ اور $r = 2f(\theta),\ \alpha \leq \theta \leq \beta$ کی لمبائیوں کے تناسب کے بارے میں کچھ کہنا ممکن ہے؟ اپنے جواب کی وجہ پیش کریں۔

سوال ۱۰.۵۰۸: منحنیات $r = f(\theta),\ \alpha \leq \theta \leq \beta$ اور $r = 2f(\theta),\ \alpha \leq \theta \leq \beta$ کو محور x کے گرد گھما کر سطح طواف پیدا کیا جاتا ہے۔ کیا ان سطح طواف کے رقبوں کی تناسب کے بارے میں کچھ کہنا ممکن ہو گا؟ اپنے جواب کی وجہ پیش کریں۔

پنکھا نما خطوں کے وسطانی مراکز

چونکہ مثلث کا وسطانی مرکز ہر ایک وسطانیہ پر، راس سے دو تہائی دور مخالف قاعدہ پر، واقع ہوتا ہے لہٰذا شکل ۱۰.۹۴ میں محور x کے لحاظ سے باریک سایہ دور تکونی بیرم کا بازو تقریباً $\frac{2}{3}r\sin\theta$ ہو گا۔ اسی طرح محور y کے لحاظ سے اس باریک تکونی خطہ کا بازو $\frac{2}{3}r\cos\theta$ ہو گا۔ یہ تخمین $\Delta\theta \to 0$ سے بہتر ہو کر خطہ AOB کے وسطانیہ کے محدد کے لئے درج ذیل کلیات دیتی ہیں

$$\bar{x} = \frac{\int \frac{2}{3}r\cos\theta \cdot \frac{1}{2}r^2\,\mathrm{d}\theta}{\int \frac{1}{2}r^2\,\mathrm{d}\theta} = \frac{\frac{2}{3}\int r^3\cos\theta\,\mathrm{d}\theta}{\int r^2\,\mathrm{d}\theta}$$

$$\bar{y} = \frac{\int \frac{2}{3}r\sin\theta \cdot \frac{1}{2}r^2\,\mathrm{d}\theta}{\int \frac{1}{2}r^2\,\mathrm{d}\theta} = \frac{\frac{2}{3}\int r^3\sin\theta\,\mathrm{d}\theta}{\int r^2\,\mathrm{d}\theta}$$

جہاں تمام تکمل کی حدود α اور β ہیں۔

سوال ۱۰.۵۰۹: قلب نما $r = a(1 + \cos\theta)$ کے اندر خطہ کا وسطانیہ دریافت کریں۔

سوال ۱۰.۵۱۰: نصف دائری خطہ $0 \leq r \leq a,\ 0 \leq \theta \leq \pi$ کا وسطانیہ دریافت کریں۔

باب ۱۱

سمتیات اور خلا میں تحلیلی جیومیٹری

اس حصہ میں سمتیات اور سہ بعدی محددی نظام متعارف کئے جائیں گے۔ جیسا ایک متغیر کے تفاعل پر غور کے لئے محددی مستوی موزوں ہے، اسی طرح دو (یا دو سے زیادہ) متغیرات کے تفاعل پر غور کے لئے محددی خلاء موزوں ہے۔ ہم محددی مستوی میں ایک تیسرا محور شامل کر کے محددی خلاء پیدا کرتے ہیں۔ یہ محور xy مستوی سے نیچے اور اس سے اوپر فاصلہ ناپتا ہے۔

۱۱.۱ مستوی میں سمتیات

بعض چیزیں جنہیں ہم ناپتے ہیں کا تعین ان کی مقدار سے ہوتا ہے۔ مثال کے طور پر کمیت، لمبائی اور وقت قلم بند کرنے کے لئے ہم صرف ایک عدد اور موزوں اکائی لکھتے ہیں۔ اس کے برعکس قوت، ہٹاو، یا سمتی رفتار جاننے کے لئے ہمیں مزید معلوم درکار ہو گی۔ قوت کو بیان کرنے کے لئے ہمیں اس کی مقدار کے ساتھ وہ رخ بھی جاننا ہو گا جس رخ یہ عمل کرتی ہے۔ کسی جسم کا ہٹاو بیان کرنے کے لئے ہمیں اس سمت کا ذکر کرنا ہو گا جس سمت یہ جسم حرکت کرتا ہے اور ساتھ اس فاصلہ کا ذکر کرنا ہو گا جتنا یہ طے کرتا ہے۔ ایک جسم کی سمتی رفتار بیان کرنے کے لئے ہم حرکت کی سمت اور جسم کی رفتار کی بات کرتے ہیں۔

وہ مقدار جس کی جسامت اور سمت دونوں ہوں کو عموماً تیر کے نشان سے ظاہر کیا جاتا ہے جہاں مقدار کے رخ کو تیر کا رخ مقدار کی جسامت کو، موزوں اکائیوں میں، تیر کی لمبائی ظاہر کرتی ہے۔

تیر دار لکیروں کو ہم سمت بند خطوط تصور کرتے اور **سمتیات**[1] کہتے ہیں۔

تعریف: ایک مستوی میں سمت بند خط کو **سمتیہ**[1] کہتے ہیں۔ دو سمتیات صرف اس صورت ایک دوسرے کے برابر یا یکساں ہوں گے جب ان کی مقداریں ایک سی ہوں اور ان کے رخ ایک سے ہوں۔

□

[1] vector

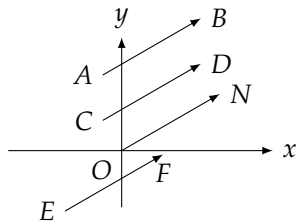

شکل ۱.۱۱: یکساں لمبائی اور یکساں رخ کے سمتیات ایک ہی سمتیہ کو ظاہر کرتے ہیں۔

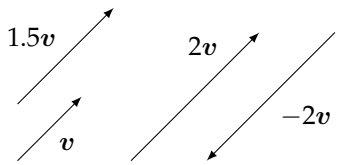

شکل ۲.۱۱: سمتیہ کے غیر سمتی مضرب۔

یوں اگر سمتیات کو ظاہر کرنے والے تیر آپس میں متوازی ہوں، ان کی لمبائیاں ایک سی ہوں اور ان کا رخ بھی ایک سا ہو تب یہ ایک ہی سمتیہ کو ظاہر کرتے ہیں۔ اس کتاب میں سمتیہ کو موٹی لکھائی میں رومانی حروف تہجی، مثلاً $\boldsymbol{v}$ ، سے ظاہر کیا جائے گا[۲]۔ نقطہ A سے نقطہ B تک تیر کو ہم $\overrightarrow{AB}$ لکھیں گے۔

مثال ۱.۱۱: چار تیروں کو شکل ۱.۱۱ میں دکھایا گیا ہے جن کی لمبائیاں اور رخ ایک سے ہیں۔ یوں چاروں ایک ہی سمتیہ کو ظاہر کرتے ہیں جس کو ہم درج ذیل لکھتے ہیں۔

$$\overrightarrow{AB} = \overrightarrow{CD} = \overrightarrow{ON} = \overrightarrow{EF}$$

□

غیر سمتیہ اور غیر سمتی مضرب

ہم کسی سمتیہ کو مثبت حقیقی عدد سے ضرب دینے کے لئے اس کی لمبائی کو اس عدد سے ضرب دیتے ہیں (شکل ۲.۱۱)۔ سمتیہ کو 2 سے ضرب دینے کے لئے ہم اس کی لمبائی دگنی کرتے ہیں۔ ایک سمتیہ کو 1.5 سے ضرب دینے کے لئے ہم اس کی لمبائی 50 % بڑھاتے ہیں، وغیرہ، وغیرہ۔ ایک سمتیہ کو منفی عدد سے ضرب دینے کے لئے ہم اس کا رخ الٹ کر کے اس کی لمبائی کو عدد کی مطلق قیمت سے ضرب دیتے ہیں۔

اگر c غیر صفر حقیقی عدد اور $\boldsymbol{v}$ ایک سمتیہ ہو تب مثبت c کی صورت میں $\boldsymbol{v}$ اور $c\boldsymbol{v}$ کے رخ ایک سے ہوں گے جبکہ منفی c کی صورت میں ان کے رخ ایک دوسرے کے مخالف ہوں گے۔ یہاں حقیقی اعداد تبدیلی پیمانہ کے طور پر کام کرتے ہیں اور یہ **غیر سمتی**[۳] کہلاتے ہیں جبکہ $c\boldsymbol{v}$ کے مضرب کو $\boldsymbol{v}$ کا **غیر سمتی مضرب**[۴] کہتے ہیں۔

صفر سے ضرب کو شامل کرنے کی خاطر ہم اس روایت کو اپناتے ہیں جس کے مطابق کسی بھی سمتیہ کو صفر سے ضرب دینے سے **صفر سمتیہ** $\mathbf{0}$ حاصل ہو گا، جو ایک نقطہ پر مشتمل ہو گا جس کی لمبائی صفر ہو گی۔ دیگر سمتیہ کے برعکس صفر سمتیہ $\mathbf{0}$ کا کوئی رخ نہیں ہوتا ہے۔

---

[۲] قلم و کاغذ استعمال کرتے ہوئے سمتیہ کو رومانی حروف تہجی پر تیر کا نشان $\overrightarrow{\text{ج}}$ یا نصف تیر کا نشان $\vec{\text{ج}}$ ڈال کر ظاہر کیا جاتا ہے۔)

[۳] scalar

[۴] scalarmultiple

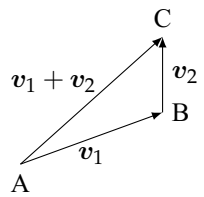

شکل ۱۱.۳: سمتیات v_1 اور v_2 کا مجموعہ۔

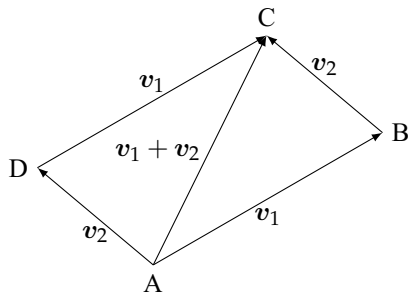

شکل ۱۱.۴: قاعدہ متوازی الاضلاع۔ مخالف اضلاع یکساں لمبائی ہونے کی وجہ سے $ABCD$ متوازی الاضلاع ہوگا۔

جیومیٹریائی مجموعہ: قاعدہ متوازی الاضلاع

دو غیر صفر سمتیات v_1 اور v_2 کا جیومیٹریائی مجموعہ لینے کی خاطر v_1 کا نمائندہ، مثلاً A سے B تک، ترسیم کرکے v_1 کے اختتامی نقطہ (سر) B پر v_2 کے نمائندہ کا ابتدائی نقطہ (دُم) رکھ کر ترسیم کریں۔ شکل ۱۱.۳ میں $v_2 = \overrightarrow{BC}$ ہے۔ مجموعہ $v_1 + v_2$ اب v_1 کی دُم A سے v_2 کے سر C تک سمتیہ ہوگا۔ یوں اگر

$$v_1 = \overrightarrow{AB}, \quad v_2 = \overrightarrow{BC}$$

ہوں تب

$$v_1 + v_2 = \overrightarrow{AB} + \overrightarrow{BC} = \overrightarrow{AC}$$

ہوگا۔ چونکہ اس عمل میں $v_1 + v_2$ متوازی الاضلاع کا وتر ہوتا ہے لہٰذا اس عمل کو بعض اوقات **قاعدہ متوازی الاضلاع**[5] کہتے ہیں (شکل ۱۱.۴)۔

اجزاء

دو سمتیات اس صورت متوازی ہوں گے جب یہ ایک دوسرے کے غیر صفر، غیر سمتی مضرب ہوں، یعنی جب ان کو ظاہر کرنے والے خطوط متوازی ہوں۔

جب بھی ایک سمتیہ v کو دو غیر متوازی سمتیات کا مجموعہ

$$v = v_1 + v_2$$

لکھنا ممکن ہو، سمتیات v_1 اور v_2 سمتیہ v کے اجزاء کہلائیں گے اور ہم کہتے ہیں کہ سمتیہ v کو اس کے اجزاء v_1 اور v_2 میں تحلیل کیا گیا ہے۔

سمتیات کے مقبول ترین الجبرا میں ہر سمتیہ کو کارتیسی محور کے متوازی اجزاء کی صورت میں بیان کیا جاتا ہے اور یہ اجزاء از خود موزوں **اساسی**[6] سمتیہ، جن کی لمبائی 1 ہوتی ہے، کے مضرب ہوتے ہیں۔ مثبت x محور کے رخ اساسی سمتیہ نقطہ $(0,0)$ سے نقطہ $(1,0)$ تک تیر سے ظاہر کیا جاتا ہے اور اس

[5] parallelogramlaw
[6] basic

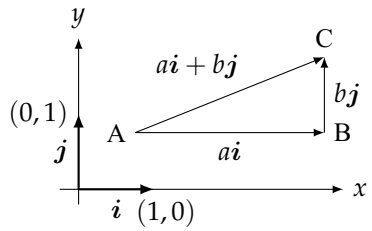

شکل ۱۱.۵: اساس سمتیات $\boldsymbol{i}$ اور $\boldsymbol{j}$ کو استعمال کر کے کسی بھی سمتیہ $\overrightarrow{AC}$ کو لکھا جا سکتا ہے۔

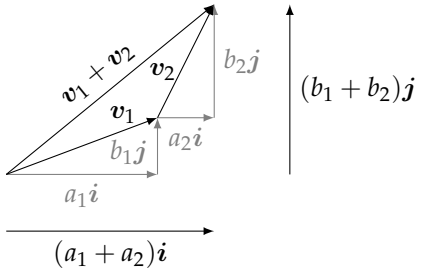

شکل ۱۱.۶: سمتیات کا مجموعہ ان کے مطابقتی اجزاء کے مجموعہ لے کر حاصل ہو گا۔

اساسی سمتیہ کی علامت $\boldsymbol{i}$ ہے۔ مثبت y محور کے رخ اساسی سمتیہ نقطہ $(0,0)$ سے نقطہ $(0,1)$ تک تیر سے ظاہر کیا جاتا ہے اور اس اساسی سمتیہ کی علامت $\boldsymbol{j}$ ہے۔ اب غیر سمتی a کے لئے محور x کے متوازی سمتیہ $a\boldsymbol{i}$ کی لمبائی $|a|$ ہو گی جبکہ اس کا رخ $a > 0$ کے لئے دایاں اور $a < 0$ کے لئے بایاں ہو گا۔ اس طرح غیر سمتی b کے لئے محور y کے متوازی سمتیہ $b\boldsymbol{j}$ کی لمبائی $|b|$ ہو گی جبکہ اس کا رخ $b > 0$ کے لئے اوپر اور $b < 0$ کے لئے نیچے ہو گا۔ شکل ۱۱.۵ میں سمتیہ $\boldsymbol{v} = \overrightarrow{AC}$ کو اجزاء $\boldsymbol{i}$ اور $\boldsymbol{j}$ میں تحلیل کیا گیا ہے:

$$\boldsymbol{v} = a\boldsymbol{i} + b\boldsymbol{j}$$

تعریف: اگر $\boldsymbol{v} = a\boldsymbol{i} + b\boldsymbol{j}$ ہو تب $\boldsymbol{i}$ اور $\boldsymbol{j}$ کے رخ، سمتیہ $\boldsymbol{v}$ کے اجزاء سمتیات $a\boldsymbol{i}$ اور $b\boldsymbol{j}$ ہوں گے۔ اعداد a اور b، اساسی سمتیات $\boldsymbol{i}$ اور $\boldsymbol{j}$ کے رخ، سمتیہ $\boldsymbol{v}$ کے غیر سمتی اجزاء ہوں گے۔

□

تعریف: سمتیات کی برابری یا یکسانیت (الجبرائی تعریف)۔

$$a\boldsymbol{i} + b\boldsymbol{j} = a'\boldsymbol{i} + b'\boldsymbol{j} \quad \Leftrightarrow \quad a = a', \quad b = b' \tag{۱}$$

□

دو سمتیات صرف اور صرف اس صورت ایک دوسرے کے برابر ہوں گے جب $\boldsymbol{i}$ اور $\boldsymbol{j}$ کے رخ، ان کے مطابقتی غیر سمتی اجزاء ایک دوسرے کے برابر ہوں۔

الجبرائی مجموعہ

سمتیات کے مطابقتی غیر سمتی اجزاء کا مجموعہ لے کر ان سمتیات کا مجموعہ حاصل کیا جا سکتا ہے (شکل ۱۱.۶)۔

اگر $\boldsymbol{v}_1 = a_1\boldsymbol{i} + b_1\boldsymbol{j}$ اور $\boldsymbol{v}_2 = a_2\boldsymbol{i} + b_2\boldsymbol{j}$ ہوں تب درج ذیل ہو گا۔

$$\boldsymbol{v}_1 + \boldsymbol{v}_2 = (a_1 + a_2)\boldsymbol{i} + (b_1 + b_2)\boldsymbol{j}$$

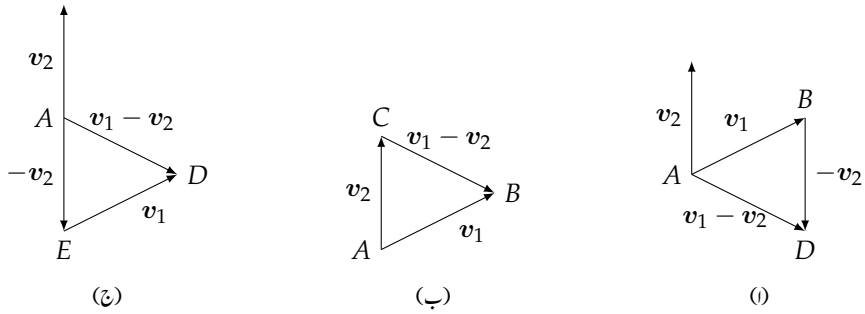

شکل ۷.۱۱: سمتیہ $v_1 - v_2$ کو ترسیم کرنے کے کئی طریقوں میں سے تین طریقے۔

۱۷۳۸۹ مثال ۲.۱۱:

$$(2\boldsymbol{i} - 4\boldsymbol{j}) + (5\boldsymbol{i} + 3\boldsymbol{j}) = (2+5)\boldsymbol{i} + (-4+3)\boldsymbol{j} = 7\boldsymbol{i} - \boldsymbol{j}$$

۱۷۳۹۰ □

۱۷۳۹۱ تفریق

۱۷۳۹۲ ایک سمتیہ $\boldsymbol{v}$ کا منفی سمتیہ $-\boldsymbol{v} = (-1)\boldsymbol{v}$ ہوگا۔ اس کی لمبائی $\boldsymbol{v}$ کی لمبائی ہوگی البتہ اس کا رخ $\boldsymbol{v}$ کا مخالف ہوگا۔ سمتیہ $\boldsymbol{v}_2$ کو سمتیہ $\boldsymbol{v}_1$ سے
۱۷۳۹۳ منفی کرنے کی خاطر ہم $-\boldsymbol{v}_2$ اور $\boldsymbol{v}_1$ کا مجموعہ لیں گے۔ جیومیٹریائی طور پر ہم $\boldsymbol{v}_1$ کے سرے سے $-\boldsymbol{v}_2$ کھینچ کر $\boldsymbol{v}_1$ کی دُم سے $-\boldsymbol{v}_2$ کے سر تک
۱۷۳۹۴ سمتیہ ترسیم کریں گے۔ یہ عمل شکل ۷.۱۱-ا میں دکھایا گیا ہے جہاں

$$\vec{AD} = \vec{AB} + \vec{BD} = \boldsymbol{v}_1 + (-\boldsymbol{v}_2) = \boldsymbol{v}_1 - \boldsymbol{v}_2$$

۱۷۳۹۵ اس کے علاوہ $\boldsymbol{v}_1$ اور $\boldsymbol{v}_2$ کی دُم مشترکہ نقطہ پر رکھ کر $\boldsymbol{v}_1$ اور $\boldsymbol{v}_2$ ترسیم کر کے $\boldsymbol{v}_2$ کے سرے سے $\boldsymbol{v}_1$ کے سر تک سمتیہ $\boldsymbol{v}_1 - \boldsymbol{v}_2$ ہوگا۔ یہ عمل
۱۷۳۹۶ شکل ۷.۱۱-ب میں پیش کیا گیا ہے جہاں درج ذیل ہے۔

$$\vec{CB} = \vec{CA} + \vec{AB} = -\boldsymbol{v}_2 + \boldsymbol{v}_1 = \boldsymbol{v}_1 - \boldsymbol{v}_2$$

۱۷۳۹۷ مزید، $-\boldsymbol{v}_2$ کے سرے سے $\boldsymbol{v}_1$ ترسیم کر کے $\boldsymbol{v}_1 - \boldsymbol{v}_2$ حاصل کیا جا سکتا ہے (شکل ۷.۱۱-ج)۔

۱۷۳۹۸ درج ذیل قاعدہ سمتیات کی تفریق کو اجزاء کی صورت میں پیش کرتا ہے۔

$$\boldsymbol{v}_1 - \boldsymbol{v}_2 = (a_1 - a_2)\boldsymbol{i} + (b_1 - b_2)\boldsymbol{j} \tag{۲}$$

۱۷۳۹۹ اس قاعدہ کے تحت دو سمتیات تفریق کرنے کی خاطر ان کے مطابقتی اجزاء تفریق کیے جائیں گے۔

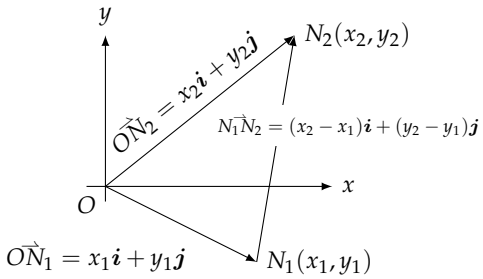

شکل ۱۱.۸

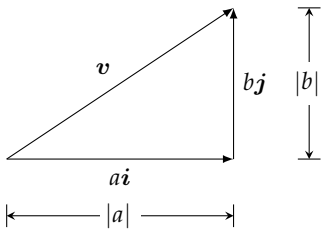

شکل ۱۱.۹: سمتیہ کی لمبائی مسئلہ فیثاغورث سے حاصل کی جاسکتی ہے۔

۱۷۵۰۰ مثال ۱۱.۳:

$$(6\boldsymbol{i} + 2\boldsymbol{j}) - (3\boldsymbol{i} - 5\boldsymbol{j}) = (6-3)\boldsymbol{i} + (2-(-5))\boldsymbol{j} = 3\boldsymbol{i} + 7\boldsymbol{j}$$

۱۷۵۰۱ □

۱۷۵۰۲ ہم نقطہ $N_1(x_1, y_1)$ سے نقطہ $N_2(x_2, y_2)$ تک سمتیہ کے اجزاء حاصل کرنے کے لئے $\overrightarrow{ON_1} = x_1\boldsymbol{i} + y_1\boldsymbol{j}$ کے اجزاء کو
۱۷۵۰۳ $\overrightarrow{ON_2} = x_2\boldsymbol{i} + y_2\boldsymbol{j}$ کے اجزاء سے منفی کرتے ہیں۔
۱۷۵۰۴ $N_1(x_1, y_1)$ سے $N_2(x_2, y_2)$ تک سمتیہ درج ذیل ہوگا۔

$$\overrightarrow{N_1N_2} = (x_2 - x_1)\boldsymbol{i} + (y_2 - y_1)\boldsymbol{j} \tag{۳}$$

۱۷۵۰۵ مثال ۱۱.۴: نقطہ $N_1(3, 4)$ سے نقطہ $N_2(5, 1)$ تک سمتیہ درج ذیل ہے۔

$$\overrightarrow{N_1N_2} = (5-3)\boldsymbol{i} + (1-4)\boldsymbol{j} = 2\boldsymbol{i} - 3\boldsymbol{j}$$

۱۷۵۰۶ □

۱۷۵۰۷ **مقدار**

۱۷۵۰۸ سمتیہ $\boldsymbol{v} = a\boldsymbol{i} + b\boldsymbol{j}$ کی **لمبائی**[۷] یا **مقدار**[۸] $|\boldsymbol{v}| = \sqrt{a^2 + b^2}$ ہے۔ سمتیہ $\boldsymbol{v}$ اور اس کے دو سمتیہ اجزاء کے قائمہ مثلث پر مسئلہ
۱۷۵۰۹ فیثاغورث لاگو کرنے سے یہ کلیہ اخذ ہوتا ہے (شکل ۱۱.۹)۔ سمتیہ کی لمبائی $|\boldsymbol{v}|$ میں دو انتصابی لکیریں وہی ہیں جو مطلق قیمت کو ظاہر کرنے کے لئے استعمال کی
۱۷۵۱۰ جاتی ہیں۔

$$|\boldsymbol{v}| = \sqrt{a^2 + b^2} \qquad \boldsymbol{v} = a\boldsymbol{i} + b\boldsymbol{j} \tag{۴}$$

---

[۷] length
[۸] magnitude

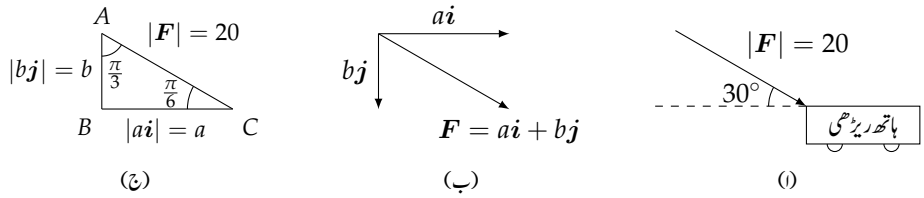

شکل ۱۱.۱۰: ہاتھ ریڑھی (مثال ۱۱.۵)

۱۷۵۱۱ مثال ۱۱.۵: آپ زمین کے ساتھ $30°$ زاویہ پر $20\,\mathrm{N}$ کی قوت $\boldsymbol{F}$ سے ہاتھ ریڑھی کو دکھا لگاتے ہیں (شکل ۱۱.۱۰-ا)۔ قوت کا افقی جزو ریڑھی کو
۱۷۵۱۲ حرکت دیتا ہے جبکہ اس کا انتصابی جزو ریڑھی کا وزن بڑھاتا ہے۔ اس قوت کا افقی اور انتصابی جزو معلوم کریں۔

۱۷۵۱۳ حل: ہم قوت $\boldsymbol{F} = a\boldsymbol{i} + b\boldsymbol{j}$ اور اس کے اجزاء کے لئے مثلث بناتے ہیں (شکل ۱۱.۱۰-ب اور شکل ۱۱.۱۰-ج)۔ اس مثلث سے $a = 10\sqrt{3}$
۱۷۵۱۴ اور $b = 10$ حاصل ہوتے ہیں۔ قوت کا افقی جزو $10\sqrt{3}\boldsymbol{i}$ اور انتصابی جزو $-10\boldsymbol{j}$ ہے۔ یوں $\boldsymbol{F} = 10\sqrt{3}\boldsymbol{i} - 10\boldsymbol{j}$
۱۷۵۱۵ ہوگا۔ انتصابی جزو کا رخ نیچے ہے لہٰذا یہ منفی ہے۔ □

۱۷۵۱۶ غیر سمتی ضرب

۱۷۵۱۷ غیر سمتی ضرب جزو در جزو حاصل کیا جا سکتا ہے۔ اگر c ایک غیر سمتی اور $\boldsymbol{v} = a\boldsymbol{i} + b\boldsymbol{j}$ ایک سمتیہ ہو تب درج ذیل ہوگا۔

$$c\boldsymbol{v} = c(a\boldsymbol{i} + b\boldsymbol{j}) = (ca)\boldsymbol{i} + (cb)\boldsymbol{j} \tag{۵}$$

۱۷۵۱۸ سمتیہ $c\boldsymbol{v}$ کی لمبائی سمتیہ $\boldsymbol{v}$ کی لمبائی ضرب $|c|$ ہوگا:

$$\begin{aligned}
|c\boldsymbol{v}| &= \big|(ca)\boldsymbol{i} + (cb)\boldsymbol{j}\big| \\
&= \sqrt{(ca)^2 + (cb)^2} \\
&= \sqrt{c^2(a^2 + b^2)} \\
&= \sqrt{c^2}\sqrt{a^2 + b^2} \\
&= |c||\boldsymbol{v}|
\end{aligned}$$

۱۷۵۱۹ یوں اگر c غیر سمتی ہو اور $\boldsymbol{v}$ ایک سمتیہ ہو تب $|c\boldsymbol{v}| = |c||\boldsymbol{v}|$ ہوگا۔

۱۷۵۲۰ مثال ۱۱.۶: اگر $c = -2$ اور $\boldsymbol{v} = -3\boldsymbol{i} + 4\boldsymbol{j}$ ہوں تب درج ذیل ہوگا۔

$$\begin{aligned}
|\boldsymbol{v}| &= |-3\boldsymbol{i} + 4\boldsymbol{j}| = \sqrt{(-3)^2 + (4)^2} = \sqrt{9 + 16} = \sqrt{25} = 5 \\
|-2\boldsymbol{v}| &= \big|(-2)(-3\boldsymbol{i} + 4\boldsymbol{j})\big| = |6\boldsymbol{i} - 8\boldsymbol{j}| = \sqrt{(6)^2 + (-8)^2} \\
&= \sqrt{36 + 64} = \sqrt{100} = 10 = |-2||5| = |c||\boldsymbol{v}|
\end{aligned}$$

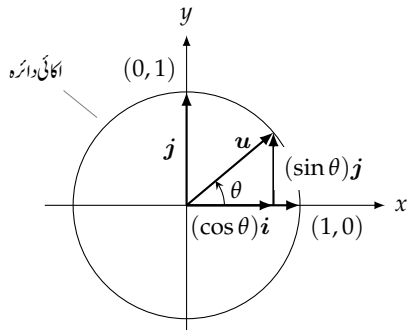

شکل ۱۱.۱۱: مستوی میں ہر اکائی سمتیہ کو $\boldsymbol{u} = (\cos\theta)\boldsymbol{i} + (\sin\theta)\boldsymbol{j}$ روپ میں لکھا جا سکتا ہے۔

۱۷۵۲۱ □

۱۷۵۲۲ **صفر سمتیہ**

۱۷۵۲۳ صفر سمتیہ سے مراد درج ذیل سمتیہ ہے۔

$$\mathbf{0} = 0\boldsymbol{i} + 0\boldsymbol{j}$$

۱۷۵۲۴ دھیان رہے کہ صفر سمتیہ $\mathbf{0}$ کو ظاہر کرنے کے لئے 0 کو موٹی لکھائی میں لکھا جاتا ہے۔ صفر سمتیہ وہ واحد سمتیہ ہے جس کی لمبائی صفر ہے۔ یہ حقیقت درج
۱۷۵۲۵ ذیل سے واضح ہے۔

$$|a\boldsymbol{i} + b\boldsymbol{j}| = \sqrt{a^2 + b^2} = 0 \quad \Leftrightarrow \quad a = b = 0$$

۱۷۵۲۶ **اکائی سمتیات**

۱۷۵۲۷ کوئی بھی سمتیہ جس کی لمبائی 1 ہو **اکائی سمتیہ**[۹] کہلائے گا۔ سمتیات $\boldsymbol{i}$ اور $\boldsymbol{j}$ اکائی سمتیات ہیں۔

$$|\boldsymbol{i}| = |1\boldsymbol{i} + 0\boldsymbol{j}| = \sqrt{1^2 + 0^2} = 1, \quad |\boldsymbol{j}| = |0\boldsymbol{i} + 1\boldsymbol{j}| = \sqrt{0^2 + 1^2} = 1$$

۱۷۵۲۸ سمتیہ $\boldsymbol{u}$ جو اکائی سمتیہ $\boldsymbol{i}$ کو θ زاویہ مثبت رخ گھما کر حاصل ہو گا، کے سمتی اجزاء درج ذیل ہوں گے (شکل ۱۱.۱۱)۔

$$\boldsymbol{u} = (\cos\theta)\boldsymbol{i} + (\sin\theta)\boldsymbol{j} \tag{۶}$$

---

[۹] unitvector

۱۷۵۲۹ چونکہ اکائی سمتیہ کو گھمانے سے اس کی لمبائی تبدیل نہیں ہوتی لہٰذا $\boldsymbol{u}$ بھی اکائی سمتیہ ہو گا یعنی:

$$|\boldsymbol{u}| = \sqrt{(\cos\theta)^2 + (\sin\theta)^2} = \sqrt{1^2} = 1$$

۱۷۵۳۰ زاویہ θ کو 0 تا 2π کرنے سے $\boldsymbol{u}$ کا سر N مبدا کے گرد، گھڑی کے الٹ رخ، دائرہ $x^2 + y^2 = 1$ پر چلتا ہے جو مستوی میں ہر ممکنہ رخ کا
۱۷۵۳۱ اکائی سمتیہ دے گا۔

۱۷۵۳۲ **لمبائی اور رخ**

۱۷۵۳۳ اگر $\boldsymbol{v} \neq \boldsymbol{0}$ ہو تب

$$\left|\frac{\boldsymbol{v}}{|\boldsymbol{v}|}\right| = \left|\frac{1}{|\boldsymbol{v}|}\boldsymbol{v}\right| = \frac{1}{|\boldsymbol{v}|}|\boldsymbol{v}| = 1$$

۱۷۵۳۴ ہو گا لہٰذا $\frac{\boldsymbol{v}}{|\boldsymbol{v}|}$ اکائی سمتیہ ہو گا جس کا رخ $\boldsymbol{v}$ کا رخ ہو گا۔ یوں ہم $\boldsymbol{v}$ کو اس کی دو اہم خواص، لمبائی اور رخ، کی صورت میں درج ذیل لکھ سکتے ہیں۔

$$\boldsymbol{v} = |\boldsymbol{v}|\left(\frac{\boldsymbol{v}}{|\boldsymbol{v}|}\right)$$

۱۷۵۳۵ یوں اگر $\boldsymbol{u} \neq \boldsymbol{0}$ ہو تب

۱۷۵۳۶ ا. $\frac{\boldsymbol{v}}{|\boldsymbol{v}|}$ اکائی سمتیہ ہو گا جس کا رخ $\boldsymbol{v}$ کا رخ ہو گا۔ یوں ہم $\frac{\boldsymbol{v}}{|\boldsymbol{v}|}$ کو $\boldsymbol{v}$ کو رخ کہتے ہیں۔

۱۷۵۳۷ ب. مساوات $\boldsymbol{v} = |\boldsymbol{v}|\left(\frac{\boldsymbol{v}}{|\boldsymbol{v}|}\right)$ سمتیہ $\boldsymbol{v}$ کو اس کی لمبائی اور رخ کی صورت میں بیان کرتی ہے۔

۱۷۵۳۸ مثال ۱۱.۷: سمتیہ $\boldsymbol{v} = 3\boldsymbol{i} - 4\boldsymbol{j}$ کو اس کی لمبائی اور رخ کا حاصل ضرب لکھیں۔

۱۷۵۳۹ حل:

$$|\boldsymbol{v}| = \sqrt{(3)^2 + (-4)^2} = \sqrt{9+16} = 5 \qquad \boldsymbol{v} \text{ کی لمبائی}$$

$$\frac{\boldsymbol{v}}{|\boldsymbol{v}|} = \frac{3\boldsymbol{i} - 4\boldsymbol{j}}{5} = \frac{3}{5}\boldsymbol{i} - \frac{4}{5}\boldsymbol{j} \qquad \boldsymbol{v} \text{ کا رخ}$$

$$\boldsymbol{v} = 3\boldsymbol{i} - 4\boldsymbol{j} = \underbrace{5}_{\text{لمبائی}}\underbrace{\left(\frac{3}{5}\boldsymbol{i} - \frac{4}{5}\boldsymbol{j}\right)}_{\text{رخ}}$$

۱۷۵۴۰ □

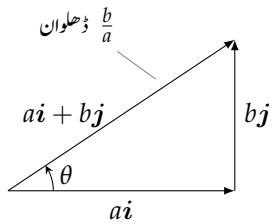

شکل ۱۱.۱۲: اگر $a \neq 0$ ہو تب سمتیہ $\boldsymbol{v} = a\boldsymbol{i} + b\boldsymbol{j}$ کا ڈھلوان $\frac{b}{a}$ ہو گی۔

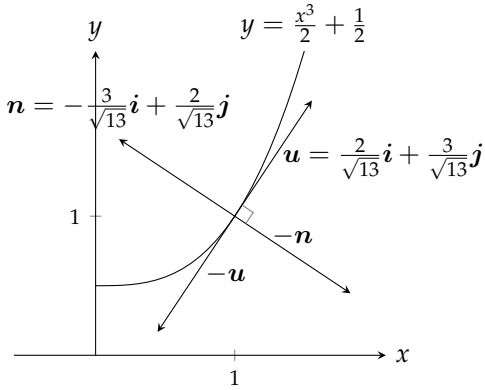

شکل ۱۱.۱۳: ایک نقطہ پر ترسیم کا اکائی مماسی اور اکائی عمودی سمتیہ (مثال ۱۱.۸)

۱۷۵۴۱ ڈھلوان، مماس اور عمود

۱۷۵۴۲ ایک سمتیہ اس صورت ایک خط کے متوازی ہو گا جب سمتیہ کو ظاہر کرنے والا قطعہ اور یہ خط متوازی ہوں۔ ایک غیر انتصابی سمتیہ کا ڈھلوان ان خطوط کا ڈھلوان
۱۷۵۴۳ ہو گی جو اس سمتیہ کے متوازی ہوں۔ یوں $a \neq 0$ کی صورت میں سمتیہ $\boldsymbol{v} = a\boldsymbol{i} + b\boldsymbol{j}$ کا ڈھلوان $\frac{b}{a}$ ہو گا (شکل ۱۱.۱۲)۔

۱۷۵۴۴ کسی نقطہ پر ایک منحنی کو ایک سمتیہ تب **مماسی**[۱۰] یا **عمودی**[۱۱] ہو گا جب اس نقطہ پر منحنی کا مماس اور یہ سمتیہ متوازی یا عمودی ہوں۔ اگلی مثال میں ایسی سمتیہ کو
۱۷۵۴۵ تلاش کرنا دکھایا گیا ہے۔

۱۷۵۴۶ مثال ۱۱.۸: نقطہ $(1,1)$ پر منحنی $y = \frac{x^3}{2} + \frac{1}{2}$ کو مماسی اور عمودی اکائی سمتیات تلاش کریں۔

۱۷۵۴۷ حل: ہم نقطہ $(1,0)$ پر منحنی کے مماس کے متوازی اور عمودی اکائی سمتیات معلوم کرتے ہیں (شکل ۱۱.۱۳)۔

۱۷۵۴۸ اس نقطہ پر منحنی کے مماس کا ڈھلوان درج ذیل ہو گی۔

$$y' = \left.\frac{3x^2}{2}\right|_{x=1} = \frac{3}{2}$$

۱۷۵۴۹ ہم اتنی ڈھلوان کی اکائی سمتیہ تلاش کرتے ہیں۔ سمتیہ $\boldsymbol{v} = 2\boldsymbol{i} + 3\boldsymbol{j}$ اور اس کے ہر غیر صفر مضرب کا ڈھلوان $\frac{3}{2}$ ہے۔ سمتیہ $\boldsymbol{v}$ کا ایسا مضرب
۱۷۵۵۰ معلوم کرنے کے لئے جس کی لمبائی 1 ہو ہم $\boldsymbol{v}$ کو

$$|\boldsymbol{v}| = \sqrt{2^2 + 3^2} = \sqrt{13}$$

---

[۱۰] tangent
[۱۱] normal

سے تقسیم کرتے ہیں۔ یوں درج ذیل حاصل ہو گا۔

$$\boldsymbol{u} = \frac{\boldsymbol{v}}{|\boldsymbol{v}|} = \frac{2}{\sqrt{13}}\boldsymbol{i} + \frac{3}{\sqrt{13}}\boldsymbol{j}$$

سمتیہ $\boldsymbol{u}$ کی لمبائی 1 ہے اور یہ $(1,1)$ پر منحنی کا مماس ہے۔ درج ذیل سمتیہ

$$-\boldsymbol{u} = -\frac{2}{\sqrt{13}}\boldsymbol{i} - \frac{3}{\sqrt{13}}\boldsymbol{j}$$

جو مخالف رخ ہے بھی $(1,1)$ پر منحنی کا مماس ہو گا۔ کسی اضافی شرط کے بغیر ان میں سے کسی ایک اکائی مماسی سمتیہ کو دوسری اکائی مماسی سمتیہ پر فوقیت نہیں دی جا سکتی ہے۔

نقطہ $(1,1)$ پر منحنی کا عمودی سمتیہ تلاش کرنے کی خاطر ہم ایسا اکائی سمتیہ معلوم کرتے ہیں جس کا ڈھلوان $\boldsymbol{u}$ کا ڈھلوان کے بالعکس متناسب کے منفی کے برابر ہو۔ ہم $\boldsymbol{u}$ کے غیر سمتی اجزاء کے مقامات آپس میں تبدیل کر کے اور ان میں سے کسی ایک کی علامت بدل کر ایسا سمتیہ معلوم کر سکتے ہیں۔ یوں درج ذیل حاصل ہو گا۔

$$\boldsymbol{n} = -\frac{3}{\sqrt{13}}\boldsymbol{i} + \frac{2}{\sqrt{13}}\boldsymbol{j}, \qquad -\boldsymbol{n} = \frac{3}{\sqrt{13}}\boldsymbol{i} - \frac{2}{\sqrt{13}}\boldsymbol{j}$$

یہاں بھی دونوں اکائی سمتیات دیے گئے نقطہ پر منحنی کو عمودی ہیں۔ ان دو عمودی اکائی سمتیات کا رخ ایک دوسرے کے الٹ ہے لیکن دونوں $(1,1)$ پر منحنی کو عمودی ہیں۔ $\square$

سوالات

جیومیٹری اور حساب

سوال ۱.۱۱: مستوی میں پائے جانے والے سمتیات $\boldsymbol{A}$ ، $\boldsymbol{B}$ اور $\boldsymbol{C}$ کو شکل ۱۱.۱۴ میں دکھایا گیا ہے۔ انہیں کاغذ پر اتار کر سر کے ساتھ دُم جوڑ کر درج ذیل ترسیم کریں۔

ا. $\boldsymbol{A}+\boldsymbol{B}$ ب. $\boldsymbol{A}+\boldsymbol{B}+\boldsymbol{C}$ ج. $\boldsymbol{A}-2\boldsymbol{B}$ د. $\frac{1}{2}\boldsymbol{A}-\boldsymbol{C}$

سوال ۲.۱۱: مستوی میں پائے جانے والے سمتیات $\boldsymbol{A}$ ، $\boldsymbol{B}$ اور $\boldsymbol{C}$ کو شکل ۱۱.۱۵ میں دکھایا گیا ہے۔ انہیں کاغذ پر اتار کر سر کے ساتھ دُم جوڑ کر درج ذیل ترسیم کریں۔

ا. $\boldsymbol{A}-\boldsymbol{B}$ ب. $\boldsymbol{A}+\boldsymbol{B}+\boldsymbol{C}$ ج. $2\boldsymbol{A}-\frac{1}{2}\boldsymbol{B}$ د. $\boldsymbol{A}-(\boldsymbol{B}-\boldsymbol{C})$

سوال ۳.۱۱ تا سوال ۶.۱۱ میں $\boldsymbol{A} = 2\boldsymbol{i} - 7\boldsymbol{j}$ ، $\boldsymbol{B} = \boldsymbol{i} + 6\boldsymbol{j}$ اور $\boldsymbol{C} = \sqrt{3}\boldsymbol{i} - \pi\boldsymbol{j}$ لیں۔ نتائج کو $a\boldsymbol{i} + b\boldsymbol{j}$ روپ میں لکھیں۔

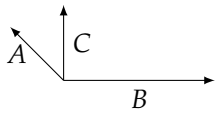

شکل ۱۱.۱۴

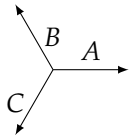

شکل ۱۱.۱۵

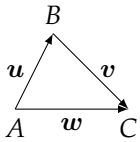

شکل ۱۱.۱۶

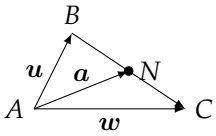

شکل ۱۱.۱۷

۱۷۵۷۷ سوال ۱۱.۳: $\boldsymbol{A}+2\boldsymbol{B}$

۱۷۵۷۸

۱۷۵۷۹ سوال ۱۱.۴: $\boldsymbol{A}+\boldsymbol{B}-\boldsymbol{C}$

۱۷۵۸۰ سوال ۱۱.۵: $3\boldsymbol{A}-\frac{1}{\pi}\boldsymbol{C}$

۱۷۵۸۱

۱۷۵۸۲ سوال ۱۱.۶: $2\boldsymbol{A}-3\boldsymbol{B}+32\boldsymbol{j}$

۱۷۵۸۳ سوال ۱۱.۷: مثلث ABC کے اضلاع سمتیات $\boldsymbol{u}$ ، $\boldsymbol{v}$ اور $\boldsymbol{w}$ دیتے ہیں (شکل ۱۱.۱۶)۔

۱۷۵۸۴ ا. $\boldsymbol{w}$ کو $\boldsymbol{u}$ اور $\boldsymbol{v}$ کی صورت میں لکھیں۔

۱۷۵۸۵ ب. $\boldsymbol{v}$ کو $\boldsymbol{u}$ اور $\boldsymbol{w}$ کی صورت میں لکھیں۔

۱۷۵۸۶ سوال ۱۱.۸: مثلث ABC کے اضلاع سمتیات $\boldsymbol{u}$ اور $\boldsymbol{w}$ دیتے ہیں جبکہ BC کا وسطی نقطہ N ہے (شکل ۱۱.۱۷)۔ سمتیہ $\boldsymbol{a}$ کو $\boldsymbol{u}$ اور $\boldsymbol{w}$
۱۷۵۸۷ کی صورت میں لکھیں۔

۱۷۵۸۸

۱۷۵۸۹ سوال ۱۱.۹ تا سوال ۱۱.۱۶ میں سمتیہ کو $a\boldsymbol{i}+b\boldsymbol{j}$ روپ میں لکھیں۔ محددی سطح پر مبدا سے شروع کرتے ہوئے انہیں ترسیم کریں۔

۱۷۵۹۰ سوال ۱۱.۹: نقاط $N_1(5,7)$ اور $N_2(2,9)$ کے بیچ قطعہ $\overrightarrow{N_1N_2}$ تلاش کریں۔

۱۷۵۹۱ سوال ۱۱.۱۰: نقاط $N_1(1,2)$ اور $N_2(-3,5)$ کے بیچ قطعہ $\overrightarrow{N_1N_2}$ تلاش کریں۔

۱۷۵۹۲ سوال ۱۱.۱۱: نقاط $A(-5,3)$ اور $B(-10,8)$ کے بیچ قطعہ $\overrightarrow{AB}$ تلاش کریں۔

۱۷۵۹۳ سوال ۱۱.۱۲: نقاط $A(-7,-8)$ اور $B(6,11)$ کے بیچ قطعہ $\overrightarrow{AB}$ تلاش کریں۔

۱۷۵۹۴ سوال ۱۱.۱۳: نقاط $N_1(1,3)$ اور $N_2(2,-1)$ کے بیچ قطعہ $\overrightarrow{N_1N_2}$ تلاش کریں۔

۱۷۵۹۵ سوال ۱۱.۱۴: نقاط $N_3(1,3)$ اور N_4 کے بیچ قطعہ $\overrightarrow{N_3N_4}$ تلاش کریں جہاں $N_1(2,-1)$ اور $N_2(-4,3)$ کو ملانے والے
۱۷۵۹۶ قطعہ کا وسطی نقطہ N_4 ہے۔

۱۷۵۹۷ سوال ۱۱.۱۵: نقاط $A(1,-1)$ ، $B(2,0)$ ، $C(-1,3)$ اور $D(-2,2)$ دیے گئے ہیں۔ سمتیات $\overrightarrow{CD}$ اور $\overrightarrow{AB}$ کا مجموعہ
۱۷۵۹۸ تلاش کریں۔

سوال ۱۱.۱۶: نقطہ A سے مبدا تک سمتیہ، جہاں $\overrightarrow{AB} = 4\boldsymbol{i} - 2\boldsymbol{j}$ اور $B(-2,5)$ ہیں۔

سوال ۱۱.۱۷: سمتیہ $\overrightarrow{AB} = 3\boldsymbol{i} - \boldsymbol{j}$ اور نقطہ $A(2,9)$ دیا گیا ہے۔ نقطہ B تلاش کریں۔

سوال ۱۱.۱۸: سمتیہ $\overrightarrow{NQ} = -6\boldsymbol{i} - 4\boldsymbol{j}$ اور نقطہ $Q(3,3)$ دیا گیا ہے۔ نقطہ N تلاش کریں۔

اکائی سمتیات

سوال ۱۱.۱۹ تا سوال ۱۱.۲۲ میں دیے سمتیات ترسیم کریں۔ ان سمتیات کو $a\boldsymbol{i} + b\boldsymbol{j}$ روپ میں لکھیں۔

سوال ۱۱.۱۹: زاویہ $\theta = \frac{\pi}{6}$ اور $\theta = \frac{2\pi}{3}$ کے لئے اکائی سمتیات $\boldsymbol{u} = (\cos\theta)\boldsymbol{i} + (\sin\theta)\boldsymbol{j}$ ترسیم کریں۔ دائرہ $x^2 + y^2 = 1$ کی ترسیم بھی شامل کریں۔

سوال ۱۱.۲۰: زاویہ $\theta = -\frac{\pi}{4}$ اور $\theta = -\frac{3\pi}{4}$ کے لئے اکائی سمتیات $\boldsymbol{u} = (\cos\theta)\boldsymbol{i} + (\sin\theta)\boldsymbol{j}$ ترسیم کریں۔ دائرہ $x^2 + y^2 = 1$ کی ترسیم بھی شامل کریں۔

سوال ۱۱.۲۱: سمتیہ $\boldsymbol{j}$ کو مبدا کے گرد گھڑی کے الٹ رخ $\frac{3\pi}{4}$ ریڈیئن گھما کر حاصل اکائی سمتیہ ترسیم کریں۔

سوال ۱۱.۲۲: سمتیہ $\boldsymbol{j}$ کو مبدا کے گرد گھڑی کے رخ $\frac{2\pi}{3}$ ریڈیئن گھما کر حاصل اکائی سمتیہ ترسیم کریں۔

سوال ۱۱.۲۳ اور سوال ۱۱.۲۴ میں اکائی سمتیہ $\boldsymbol{u} = (\cos\theta)\boldsymbol{i} + (\sin\theta)\boldsymbol{j}$ اسی رخ تلاش کریں۔

سوال ۱۱.۲۳: $6\boldsymbol{i} - 8\boldsymbol{j}$

سوال ۱۱.۲۴: $-\boldsymbol{i} + 3\boldsymbol{j}$

سوال ۱۱.۲۵ تا سوال ۱۱.۲۸ میں دیے گئے نقطہ پر منحنی کے مماسی اکائی سمتیات اور عمودی اکائی سمتیات تلاش کریں۔ منحنی اور اکائی سمتیات کو ایک ساتھ ترسیم کریں۔ (سمتیات کی تعداد چار ہو گی۔)

سوال ۱۱.۲۵: $y = x^2, \quad (2,4)$

سوال ۱۱.۲۶: $x^2 + 2y^2 = 6, \quad (2,1)$

سوال ۱۱.۲۷: $y = \tan^{-1} x, \quad (1, \frac{\pi}{4})$

سوال ۱۱.۲۸: $y = \sum_{n=0}^{\infty} \frac{x^n}{n!}, \quad (0,1)$

سوال ۱۱.۲۹ تا سوال ۱۱.۳۲ میں دیے گئے نقطہ پر منحنی کے مماسی اور عمودی اکائی سمتیات تلاش کریں۔

سوال ۱۱.۲۹: $3x^2 + 8xy + 2y^2 - 3 = 0, \quad (1,0)$

سوال ۱۱.۳۰: $x^2 - 6xy + 8y^2 - 2x - 1 = 0, \quad (1,1)$

سوال ۱۱.۳۱: $y = \int_0^x \sqrt{3 + t^4}\, \mathrm{d}t, \quad (0,0)$

سوال ۱۱.۳۲: $y = \int_e^x \ln(\ln t)\, \mathrm{d}t, \quad (e,0)$

لمبائی اور رخ

سوال ۱۱.۳۳ اور سوال ۱۱.۳۴ میں دیے سمتیہ کو لمبائی ضرب رخ کی صورت میں لکھیں۔

سوال ۱۱.۳۳: $5\boldsymbol{i} + 12\boldsymbol{j}$

سوال ۱۱.۳۴: $2\boldsymbol{i} - 3\boldsymbol{j}$

سوال ۱۱.۳۵: سمتیہ $3\boldsymbol{i} - 4\boldsymbol{j}$ کے متوازی دو اکائی سمتیات دریافت کریں۔

سوال ۱۱.۳۶: سمتیہ $\boldsymbol{A} = -\boldsymbol{i} + 2\boldsymbol{j}$ کے مخالف رخ ایسا سمتیہ تلاش کریں جس کی لمبائی 2 ہو۔ ایسے کتنے سمتیات ممکن ہیں؟

سوال ۱۱.۳۷: دکھائیں کہ $\boldsymbol{A} = 3\boldsymbol{i} + 6\boldsymbol{j}$ اور $\boldsymbol{B} = -\boldsymbol{i} - 2\boldsymbol{j}$ ایک دوسرے کے مخالف رخ ہیں۔ دونوں کا خاکہ بنائیں۔

سوال ۱۱.۳۸: دکھائیں کہ $\boldsymbol{A} = 3\boldsymbol{i} + 6\boldsymbol{j}$ اور $\boldsymbol{B} = \frac{1}{2}\boldsymbol{i} + \boldsymbol{j}$ کے رخ ایک دوسرے جیسے ہیں۔

نظریہ اور مثالیں

سوال ۱۱.۳۹: آپ ایک ریڑھی کو قوت $\boldsymbol{F}$ سے کھینچ رہے ہیں جس کی مقدار $|\boldsymbol{F}| = 10\,\mathrm{N}$ ہے۔ زمین کے ساتھ قوت کا زاویہ 30° ہے۔ اس قوت کے x اور y اجزاء تلاش کریں۔

سوال ۱۱.۴۰: پتنگ کی ڈوری آپ کو زمین کے ساتھ 45° زاویہ پر $5\,\mathrm{N}$ قوت سے کھینچتی ہے۔ اس قوت کے افقی اور انتصابی اجزاء تلاش کریں۔

سوال ۱۱.۴۱: سمتیہ $\boldsymbol{A} = 2\boldsymbol{i} + \boldsymbol{j}$ ، $\boldsymbol{B} = \boldsymbol{i} + \boldsymbol{j}$ اور $\boldsymbol{C} = \boldsymbol{i} - \boldsymbol{j}$ دیے گئے ہیں۔ ایسے غیر سمتیات α اور β کہ $\boldsymbol{A} = \alpha\boldsymbol{B} + \beta\boldsymbol{C}$ ہو۔

سوال ۱۱.۴۲: سمتیات $\boldsymbol{A} = \boldsymbol{i} - 2\boldsymbol{j}$ ، $\boldsymbol{B} = 2\boldsymbol{i} + 3\boldsymbol{j}$ اور $\boldsymbol{C} = \boldsymbol{i} + \boldsymbol{j}$ دیے گئے ہیں۔ سمتیہ $\boldsymbol{A} = \boldsymbol{A}_1 + \boldsymbol{A}_2$ لکھیں جہاں $\boldsymbol{A}_1$ سمتیہ $\boldsymbol{B}$ کے متوازی اور $\boldsymbol{A}_2$ سمتیہ $\boldsymbol{C}$ کے متوازی ہے۔ (سوال ۱۱.۴۱ دیکھیں۔)

سوال ۱۱.۴۳: ایک پرندہ اپنے گھونسلے سے اڑ کر، مشرق سے شمال کی طرف 60° پر 5 کلومیٹر دور ایک درخت پر آرام کے لئے بیٹھتا ہے۔ اس کے بعد یہ جنوب مشرق رخ 10 کلومیٹر دور ایک کھنبے پر اڑ کر بیٹھتا ہے۔ مستوی xy کے مبدا پر گھونسلا، مثبت x محور پر مشرق اور مثبت y محور پر شمال رکھ (ا) درخت کا مقام تلاش کریں۔ (ب) کھنبے کا مقام تلاش کریں۔

سوال ۱۱.۴۴: ایک پرندہ اپنے گھونسلے سے اڑ کر، شمال مشرق رخ 7 کلومیٹر دور ایک درخت پر آرام کرتا ہے۔ اس کے بعد یہ مغرب سے 30° زاویہ جنوب کے رخ 8 کلومیٹر دور ایک کھنبے پر اڑ کر بیٹھتا ہے۔ مستوی xy کے مبدا پر گھونسلا، مثبت x محور پر مشرق اور مثبت y محور پر شمال رکھ (ا) درخت کا مقام تلاش کریں۔ (ب) کھنبے کا مقام تلاش کریں۔

سوال ۱۱.۴۵: مستوی میں $\boldsymbol{v}$ ایک سمتیہ ہے جو y محور کے متوازی نہیں ہے۔ سمتیہ $\boldsymbol{v}$ کا ڈھلوان اور سمتیہ $-\boldsymbol{v}$ کا ڈھلوان کا آپس میں کیا تعلق ہو گا؟ اپنے جواب کی وجہ پیش کریں۔

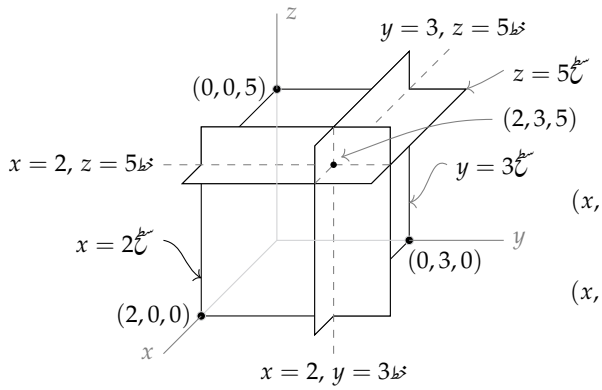

شکل ۱۱.۱۹: سطح $x = 2$ ، $y = 3$ اور $z = 5$ نقطہ $(2,3,5)$ سے گزرتی تین خط تعین کرتے ہیں۔

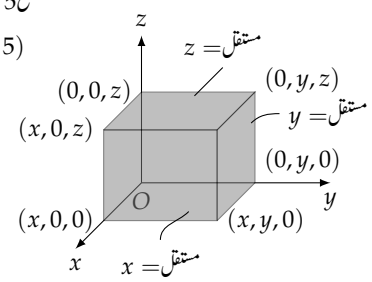

شکل ۱۱.۱۸: دایاں ہاتھ کارتیسی نظام۔

۱۱.۲ کارتیسی (مستطیل) محدد اور فضا میں سمتیات

ہم اب سہ بعدی کارتیسی محدد بیان کرتے ہیں اور فضا میں اپنا راستہ تلاش کرنا سیکھتے ہیں۔ ہم فاصلہ کی تعریف جانیں گے، فضا میں سمتیات کے ساتھ کام کرنا (مستوی کے قواعد اب بھی لاگو ہوں گے، پس اب ایک محدد بڑھ جائے گا)، اور نقطوں کے سلسلہ کی مساوات اور عدم مساوات کے ساتھ تعلق سیکھیں گے۔

کارتیسی محدد

فضا میں نقطہ کی تلاش کے لئے تین آپس میں عمودی محددی محور استعمال کیے جاتے ہیں۔ شکل ۱۱.۱۸ میں محور Ox ، Oy اور Oz دایاں ہاتھ محددی نظام دیتے ہیں۔ دائیں ہاتھ کے نظام میں، انگوٹھے کو باقی انگلیوں کے ساتھ زاویہ قائمہ پر رکھتے ہوئے، اگر آپ اپنے دائیں ہاتھ کی چار انگلیوں کو مثبت x محور پر رکھ کر انہیں مثبت y محور کی جانب موڑیں تب آپ کا انگوٹھا مثبت z محور پر ہو گا۔

فضا میں نقطہ N سے گزرتی، محوروں کے قائمہ سطحیں ان محور کو اعداد (x, y, z) پر قطع کریں گی۔ یہی اعداد نقطہ N کے کارتیسی محدد ہوں گے۔

محور x پر نقطوں کے y اور z محدد صفر ہوں گے لہٰذا ان کے محدد کی صورت $(x, 0, 0)$ ہو گی۔ اسی طرح محور y پر نقطوں کے x اور z محدد صفر ہوں گے لہٰذا ان نقطوں کے محدد کی صورت $(0, y, 0)$ ہو گی۔ محور z پر نقطوں کے x اور y محدد صفر ہوں گے لہٰذا ان کے محددی کی صورت $(0, 0, z)$ ہو گی۔

محور x کے عمودی سطح پر تمام نقطوں کا x محدد وہی ہو گا جس x محدد پر یہ سطح x محور کو قطع کرتا ہے۔ اس سطح پر نقطوں کے y اور z محدد کچھ بھی ہو سکتے ہیں۔ اسی طرح محور y کے عمودی سطح پر تمام نقطوں کا مشترک y محدد ہو گا اور محور z کے عمودی سطح پر تمام نقطوں کا مشترک z محدد ہو گا۔ ان سطحوں کی مساوات لکھتے ہوئے ہم اس مشترکہ محدد کی قیمت لکھتے ہیں۔ یوں مستوی $x = 2$ محور x کو عمودی ہے اور یہ مستوی محور x کو نقطہ $x = 2$ پر قطع کرتا ہے۔ مستوی $y = 3$ محور y کو عمودی ہے اور اس کو نقطہ $y = 3$ پر قطع کرتا ہے۔ مستوی $z = 5$ محور z کو عمودی ہے اور اس محور کو نقطہ $z = 5$ پر قطع کرتا ہے۔ شکل ۱۱.۱۹ میں مستوی $x = 2$ ، $y = 3$ اور $z = 5$ دکھائے گئے ہیں۔ ان کا مشترک نقطہ بھی دکھایا گیا ہے

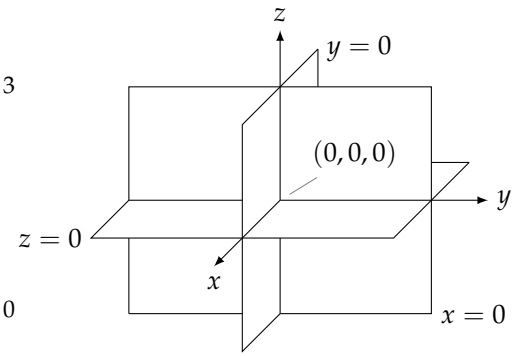

شکل ۱۱.۲۰: سطح $x = 0$ ، $y = 0$ اور $z = 0$ فضا کو آٹھ ثمن میں تقسیم کرتے ہیں۔

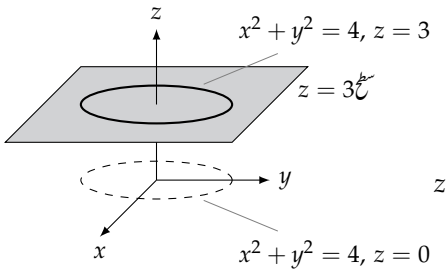

شکل ۱۱.۲۱: بلند دائرہ (مثال ۱۱.۱۰)

۱۷۶۶۹ جہاں یہ تینوں ایک دوسرے کو قطع کرتے ہیں۔

۱۷۶۷۰ مستوی $x = 2$ اور $y = 3$ ایک دوسرے کو ایک لکیر پر قطع کرتے ہیں (شکل ۱۱.۱۹) جو محور z کے متوازی ہے۔ اس لکیر کو جوڑی مساوات $x =$
۱۷۶۷۱ 2 ، $y = 3$ ظاہر کرتے ہیں۔ نقطہ (x, y, z) صرف اور صرف اس صورت اس لکیر پر پایا جائے گا جب $x = 2$ اور $y = 3$ ہوں۔ اسی طرح
۱۷۶۷۲ مستوی $y = 3$ اور $z = 5$ ایک لکیر پر ایک دوسرے کو قطع کرتے ہیں اور اس لکیر کو جوڑی مساوات $y = 3$ ، $z = 5$ ظاہر کرتے ہیں۔ یہ
۱۷۶۷۳ لکیر محور x کے متوازی ہو گی۔ مستوی $x = 2$ اور $z = 5$ ایک لکیر پر ایک دوسرے کو قطع کرتے ہیں اور اس لکیر کو جوڑی مساوات $x = 2$ ،
۱۷۶۷۴ $z = 5$ ظاہر کرتے ہیں۔ یہ لکیر محور y کے متوازی ہو گی۔

۱۷۶۷۵ محددی محوروں کے بیچ **مستوی** xy [۱۲] جس کی معیاری مساوات $z = 0$ ؛ **مستوی** yz جس کی معیاری مساوات $x = 0$ ؛ اور **مستوی** xz
۱۷۶۷۶ جس کی معیاری مساوات $y = 0$ ہے پائی جاتی ہیں۔ یہ تینوں مستوی مبدا $(0,0,0)$ پر آپس میں ملتے ہیں (شکل ۱۱.۲۰)۔

۱۷۶۷۷ تین **محددی مستوی** [۱۳] $x = 0$ ، $y = 0$ اور $z = 0$ فضا کو آٹھ حصوں میں تقسیم کرتے ہیں جنہیں **ثمن** [۱۴] کہتے ہیں۔ وہ ثمن جس میں تمام
۱۷۶۷۸ محدد مثبت ہیں **پہلا ثمن** [۱۵] کہلاتا ہے۔ باقی سات ثمن کو نام دینے کا کوئی روایتی طریقہ نہیں پایا جاتا ہے۔

۱۷۶۷۹ چونکہ فضا کے کارتیسی محدد ایک دوسرے کو زاویہ قائمہ پر ملتے ہیں لہذا ان محدد کو **مستطیل محدد** [۱۶] بھی کہتے ہیں۔

۱۷۶۸۰ درج ذیل مثال میں ہم مساواتوں اور عدم مساواتوں کا خلا میں ہم پلہ نقطے تلاش کرتے ہیں۔

۱۷۶۸۱ **مثال ۱۱.۹:**

---

[۱۲] xy-plane
[۱۳] coordinateplanes
[۱۴] octant
[۱۵] firstoctant
[۱۶] rectangularcoordinates

مساوات اور عدم مساوات	تفصیل
$z \geq 0$	xy مستوی میں اور اس سے اوپر نصف فضا میں تمام نقطے۔
$x = -3$	مستوی x کو نقطہ $x = -3$ پر عمودی سطح۔ یہ سطح yz مستوی کے متوازی اور 3 اکائیاں اس کے پیچھے ہے۔
$z = 0,\ x \leq 0,\ y \geq 0$	مستوی xy کا ربع دوم۔
$x \geq 0,\ y \geq 0,\ z \geq 0$	پہلا ثمن۔
$-1 \leq y \leq 1$	سطح $y = -1$ اور $y = 1$ کے بیچ پٹی بشمول ان سطحوں کے۔
$y = -2,\ z = 2$	وہ خط جس میں سطح $y = -2$ اور سطح $z = 2$ ایک دوسرے کو قطع کرتے ہیں، یا وہ خط جو نقطہ $(0, -2, 2)$ سے گزرتا ہے اور محور x کے متوازی ہے۔

□

مثال ۱۱.۱۰: کون سے نقاط $N(x, y, z)$ درج ذیل مساوات کو مطمئن کرتے ہیں؟

$$x^2 + y^2 = 4 \quad \text{اور} \quad z = 3$$

حل: یہ نقطے افقی سطح $z = 3$ میں پائے جاتے ہیں اور اس سطح میں یہ دائرہ $x^2 + y^2 = 4$ بناتے ہیں۔ ہم ان نقطوں کو "سطح $z = 3$ میں دائرہ $x^2 + y^2 = 4$" یا مختصراً "دائرہ $x^2 + y^2 = 4,\ z = 3$" کہتے ہیں (شکل ۱۱.۲۱)۔ □

فضا میں سمتیات

سمت بند خطوط کا سلسلہ جو قوت، ہٹاو، اور سمتی رفتار ظاہر کرتے ہوں سمتیات کہلاتے ہیں، جیسے یہ مستوی میں کہلائے جاتے ہیں۔ سمتی مجموعہ، سمتی تفریق اور غیر سمتی ضرب کے وہی قواعد یہاں بھی کارآمد ہوں گے۔

مبدا سے نقاط $(1, 0, 0)$ ، $(0, 1, 0)$ اور $(0, 0, 1)$ تک سمت بند خطوط **اساسی سمتیات** ہیں (شکل ۱۱.۲۲) جنہیں بالترتیب $\boldsymbol{i}$ ، $\boldsymbol{j}$ اور $\boldsymbol{k}$ سے ظاہر کیا جاتا ہے۔ مبدا O سے عمومی نقطہ $N(x, y, z)$ تک **تعین گر سمتیہ**[۱۷] $\boldsymbol{r}$ درج ذیل ہوگا۔

$$\boldsymbol{r} = \overrightarrow{ON} = x\boldsymbol{i} + y\boldsymbol{j} + z\boldsymbol{k} \tag{۱}$$

تعریف: **فضا میں سمتیات کا مجموعہ اور تفریق**

کسی بھی سمتیات $\boldsymbol{A} = a_1\boldsymbol{i} + a_2\boldsymbol{j} + a_3\boldsymbol{k}$ اور $\boldsymbol{B} = b_1\boldsymbol{i} + b_2\boldsymbol{j} + b_3\boldsymbol{k}$ کے لئے درج ذیل ہوں گے۔

$$\boldsymbol{A} + \boldsymbol{B} = (a_1 + b_1)\boldsymbol{i} + (a_2 + b_2)\boldsymbol{j} + (a_3 + b_3)\boldsymbol{k}$$
$$\boldsymbol{A} - \boldsymbol{B} = (a_1 - b_1)\boldsymbol{i} + (a_2 - b_2)\boldsymbol{j} + (a_3 - b_3)\boldsymbol{k}$$

[۱۷] positionvector

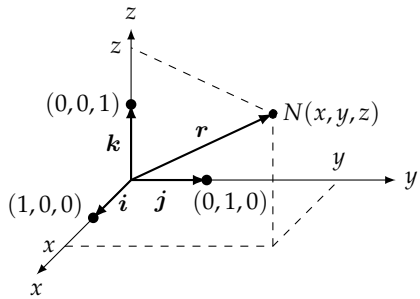

شکل ۱۱.۲۲: فضا میں نقطے کا تعین گر سمتیہ۔

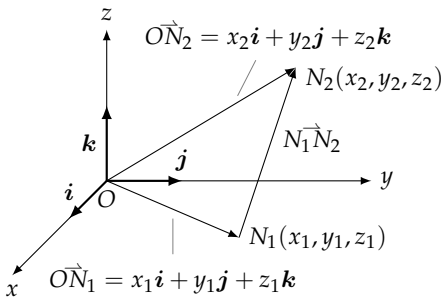

شکل ۱۱.۲۳: دو نقطوں کے بیچ سمتیہ۔

۱۷۶۹۳ □

۱۷۶۹۵ **دو نقاط کے بیچ سمتیہ**

۱۷۶۹۶ ہم نقاط $N_1(x_1, y_1, z_1)$ اور $N_2(x_2, y_2, z_2)$ کے بیچ سمتیہ $\vec{N_1N_2}$ کو

$$\begin{aligned}\vec{N_1N_2} &= \vec{ON_1} - \vec{ON_2}\\ &= (x_2\boldsymbol{i} + y_2\boldsymbol{j} + z_2\boldsymbol{k}) - (x_1\boldsymbol{i} + y_1\boldsymbol{j} + z_1\boldsymbol{k})\\ &= (x_2 - x_1)\boldsymbol{i} + (y_2 - y_1)\boldsymbol{j} + (z_2 - z_1)\boldsymbol{k}\end{aligned}$$

۱۷۶۹۷ لکھ سکتے ہیں جو N_1 اور N_2 کے محدد کی صورت میں ہے (شکل ۱۱.۲۳)۔

۱۷۶۹۸ یوں نقطہ $N_1(x_1, y_1, z_1)$ اور $N2(x_2, y_2, z_2)$ کے بیچ سمتیہ درج ذیل ہو گا۔

$$\vec{N_1N_2} = = (x_2 - x_1)\boldsymbol{i} + (y_2 - y_1)\boldsymbol{j} + (z_2 - z_1)\boldsymbol{k} \tag{۲}$$

۱۷۶۹۹ **مقدار**

۱۷۷۰۰ جیسا ہم جانتے ہیں، سمتیہ کی مقدار اور سمت اس کے اہم خصوصیات ہیں۔ ہم مسئلہ فیثا غورث کی مدد سے شکل ۱۱.۲۴ میں سمتیہ $a_1\boldsymbol{i} + a_2\boldsymbol{j} + a_3\boldsymbol{k}$
۱۷۷۰۱ کی مقدار (لمبائی) کا کلیہ تلاش کرتے ہیں۔ مثلث ABC سے

$$\left|\vec{AC}\right| = \sqrt{a_1^2 + a_2^2}$$

۱۷۷۰۲ ہو گا لہٰذا مثلث ACD سے

$$|a_1\boldsymbol{i} + a_2\boldsymbol{j} + a_3\boldsymbol{k}| = \left|\vec{AD}\right| = \sqrt{\left|\vec{AC}\right|^2 + \left|\vec{CD}\right|^2} = \sqrt{a_1^2 + a_2^2 + a_3^2}$$

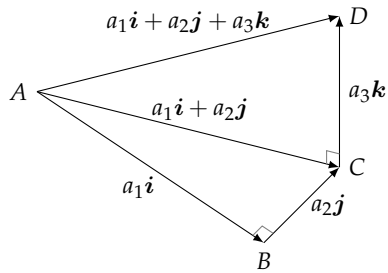

شکل ۱۱.۲۴: قائمہ مثلث ABC اور ACD پر مسئلہ فیثاغورث کے اطلاق سے $\overrightarrow{AD}$ کی لمبائی حاصل ہوتی ہے۔

۱۷۷۰۳ ہو گا۔

۱۷۷۰۴ یوں $\boldsymbol{A}=a_1\boldsymbol{i}+a_2\boldsymbol{j}+a_3\boldsymbol{k}$ کی مقدار (لمبائی) درج ذیل ہو گی۔

$$|\boldsymbol{A}|=|a_1\boldsymbol{i}+a_2\boldsymbol{j}+a_3\boldsymbol{k}|=\sqrt{a_1^2+a_2^2+a_3^2} \tag{۳}$$

۱۷۷۰۵ **غیر سمتی ضرب**

۱۷۷۰۶ تعریف: اگر c غیر سمتی اور $\boldsymbol{A}$ ایک سمتیہ ہو تب درج ذیل ہو گا۔

$$c\boldsymbol{A}=(ca_1)\boldsymbol{i}+(ca_2)\boldsymbol{j}+(ca_3)\boldsymbol{k}$$

۱۷۷۰۷ □

۱۷۷۰۸ مثال ۱۱.۱۱: سمتیہ $\boldsymbol{A}=\boldsymbol{i}-2\boldsymbol{j}+3\boldsymbol{k}$ کی لمبائی درج ذیل ہے۔

$$|\boldsymbol{A}|=\sqrt{(1)^2+(-2)^2+(3)^2}=\sqrt{1+4+9}=\sqrt{14}$$

۱۷۷۰۹ □

۱۷۷۱۰ اگر ہم سمتیہ $\boldsymbol{A}=a_1\boldsymbol{i}+a_2\boldsymbol{j}+a_3\boldsymbol{k}$ کو غیر سمتی c سے ضرب دیں تب، مستوی میں غیر سمتی ضرب کی طرح اور انہیں وجوہات کی بنا، $c\boldsymbol{A}$
۱۷۷۱۱ کی لمبائی $|c|$ ضرب $\boldsymbol{A}$ کی لمبائی ہو گی:

$$\begin{aligned}c\boldsymbol{A}&=ca_1\boldsymbol{i}+ca_2\boldsymbol{j}+ca_3\boldsymbol{k}\\|c\boldsymbol{A}|&=\sqrt{(ca_1)^2+(ca_2)^2+(ca_3)^2}=\sqrt{c^2a_1^2+c^2a_2^2+c^2a_3^2}\\&=|c|\sqrt{a_1^2+a_2^2+a_3^2}=|c||\boldsymbol{A}|\end{aligned} \tag{۴}$$

مثال ۱۱.۱۲: سمتیہ $\boldsymbol{A}$ مثال ۱۱.۱۱ میں دیا گیا ہے۔ یوں

$$2\boldsymbol{A} = 2(\boldsymbol{i} - 2\boldsymbol{j} + 3\boldsymbol{k}) = 2\boldsymbol{i} - 4\boldsymbol{j} + 6\boldsymbol{k}$$

کی لمبائی درج ذیل ہو گی:

$$\begin{aligned}\sqrt{(2)^2 + (-4)^2 + (6)^2} &= \sqrt{4 + 16 + 36} = \sqrt{56} \\ &= \sqrt{4 \cdot 14} = 2\sqrt{14} = 2|\boldsymbol{A}|\end{aligned}$$

□

صفر سمتیہ

فضا میں **صفر سمتیہ** سے مراد سمتیہ $\mathbf{0} = 0\boldsymbol{i} + 0\boldsymbol{j} + 0\boldsymbol{k}$ ہے۔ مستوی میں صفر سمتیہ کی طرح فضا میں $\mathbf{0}$ کی لمبائی صفر ہو گی اور اس کا کوئی رخ نہیں ہو گا۔

اکائی سمتیات

فضا میں اکائی سمتیہ کی لمبائی 1 ہو گی۔ اساسی سمتیات درج ذیل کی وجہ سے اکائی سمتیات ہیں۔

$$\begin{aligned}|\boldsymbol{i}| &= |1\boldsymbol{i} + 0\boldsymbol{j} + 0\boldsymbol{k}| = \sqrt{1^2 + 0^2 + 0^2} = 1 \\ |\boldsymbol{j}| &= |0\boldsymbol{i} + 1\boldsymbol{j} + 0\boldsymbol{k}| = \sqrt{0^2 + 1^2 + 0^2} = 1 \\ |\boldsymbol{k}| &= |0\boldsymbol{i} + 0\boldsymbol{j} + 1\boldsymbol{k}| = \sqrt{0^2 + 0^2 + 1^2} = 1\end{aligned}$$

مقدار اور رخ

اگر $\boldsymbol{A} \neq \mathbf{0}$ ہو تب $\frac{\boldsymbol{A}}{|\boldsymbol{A}|}$ ایک اکائی سمتیہ ہو گا جس کا رخ وہی ہو گا جو $\boldsymbol{A}$ کا رخ ہے۔ یوں ہم $\boldsymbol{A}$ کو اس کی مقدار ضرب رخ کی صورت میں درج ذیل لکھ سکتے ہیں۔

$$\boldsymbol{A} = |\boldsymbol{A}| \cdot \frac{\boldsymbol{A}}{|\boldsymbol{A}|} \tag{۵}$$

مثال ۱۱.۱۳: سمتیہ $\boldsymbol{A} = \boldsymbol{i} - 2\boldsymbol{j} + 3\boldsymbol{k}$ کو اس کی مقدار ضرب رخ کی صورت میں لکھیں۔

۱۷۷۲۴ حل:

$$\boldsymbol{A} = |\boldsymbol{A}| \cdot \frac{\boldsymbol{A}}{|\boldsymbol{A}|}$$ مساوات ۵

$$= \sqrt{14} \cdot \frac{\boldsymbol{i} - 2\boldsymbol{j} + 3\boldsymbol{k}}{\sqrt{14}}$$ مثال ۱۱.۱۱

$$= \sqrt{14}\Big(\frac{1}{\sqrt{14}}\boldsymbol{i} - \frac{2}{\sqrt{14}}\boldsymbol{j} + \frac{3}{\sqrt{14}}\boldsymbol{k}\Big) = (\ \boldsymbol{A}\ \text{لمبائی}) \cdot (\ \boldsymbol{A}\ \text{رخ})$$

۱۷۷۲۵ □

۱۷۷۲۶ مثال ۱۱.۱۴: نقطہ $N_1(1,0,1)$ سے نقطہ $N_2(3,2,0)$ تک سمتیہ کے رخ میں اکائی سمتیہ $\boldsymbol{u}$ تلاش کریں۔

۱۷۷۲۷ حل: ہم $\overrightarrow{N_1N_2}$ کو اس کی لمبائی سے تقسیم کر کے $\boldsymbol{u}$ حاصل کرتے ہیں:

$$\overrightarrow{N_1N_2} = (3-1)\boldsymbol{i} + (2-0)\boldsymbol{j} + (0-1)\boldsymbol{k} = 2\boldsymbol{i} + 2\boldsymbol{j} - \boldsymbol{k}$$

$$\left|\overrightarrow{N_1N_2}\right| = \sqrt{(2)^2 + (2)^2 + (-1)^2} = \sqrt{4+4+1} = \sqrt{9} = 3$$

$$\boldsymbol{u} = \frac{\overrightarrow{N_1N_2}}{\left|\overrightarrow{N_1N_2}\right|} = \frac{2\boldsymbol{i} + 2a\boldsymbol{j} - \boldsymbol{k}}{3} = \frac{2}{3}\boldsymbol{i} + \frac{2}{3}\boldsymbol{j} - \frac{1}{3}\boldsymbol{k}$$

۱۷۷۲۸ □

۱۷۷۲۹ مثال ۱۱.۱۵: سمتیہ $\boldsymbol{A} = 2\boldsymbol{i} + 2\boldsymbol{j} - \boldsymbol{k}$ کے رخ ایسا سمتیہ تلاش کریں جس کی لمبائی 6 ہو۔

۱۷۷۳۰ حل: ہم اس سمتیہ کے رخ اکائی سمتیہ کو 6 سے ضرب کر کے جواب حاصل کرتے ہیں:

$$6\frac{\boldsymbol{A}}{|\boldsymbol{A}|} = 6\,\frac{2\boldsymbol{i} + 2\boldsymbol{j} - \boldsymbol{k}}{\sqrt{2^2 + 2^2 + (-1)^2}} = 6\,\frac{2\boldsymbol{i} + 2\boldsymbol{j} - \boldsymbol{k}}{3} = 4\boldsymbol{i} + 4\boldsymbol{j} - 2\boldsymbol{k}$$

۱۷۷۳۱ □

۱۷۷۳۲ **فضا میں فاصلہ**

۱۷۷۳۳ فضا میں نقاط N_1 اور N_2 کے بیچ فاصلہ، سمتیہ $\overrightarrow{N_1N_2}$ کی لمبائی $\left|\overrightarrow{N_1N_2}\right|$ ہو گی۔

۱۷۷۳۴ **نقاط $N_1(x_1, y_1, z_1)$ اور $N_2(x_2, y_2, z_2)$ کے بیچ فاصلہ درج ذیل ہو گا۔**

$$\left|\overrightarrow{N_1N_2}\right| = \sqrt{(x_2 - x_1)^2 + (y_2 - y_1)^2 + (z_2 - z_1)^2} \tag{۶}$$

۱۷۷۳۵ مثال ۱۱.۱۶: نقاط $N_1(2,1,5)$ اور $N_2(-2,3,0)$ کے بیچ فاصلہ درج ذیل ہے۔

$$\begin{aligned}\left|\overrightarrow{N_1N_2}\right| &= \sqrt{(-2-2)^2+(3-1)^2+(0-5)^2}\\ &= \sqrt{16+4+25}\\ &= \sqrt{45} = 3\sqrt{5}\end{aligned}$$

۱۷۷۳۶ □

۱۷۷۳۷ کرہ

۱۷۷۳۸ ہم مساوات ۱۶ استعمال کر کے اس کرہ کی مساوات لکھتے ہیں جس کا مرکز $N_0(x_0,y_0,z_0)$ اور رداس a ہو۔ نقطہ $N(x,y,z)$ اس صورت اس
۱۷۷۳۹ کرہ پر پایا جائے گا جب $\left|\overrightarrow{N_0N_1}\right| = a$ ہو یعنی:

$$(x-x_0)^2+(y-y_0)^2+(z-z_0)^2 = a^2$$

۱۷۷۴۰ **ایک کرہ جس کا مرکز (x_0,y_0,z_0) اور رداس a ہو کی معیاری مساوات درج ذیل ہے۔**

$$(x-x_0)^2+(y-y_0)^2+(z-z_0)^2 = a^2 \tag{۷}$$

۱۷۷۴۱ مثال ۱۱.۱۷: درج ذیل کرہ کا مرکز اور رداس تلاش کریں۔

$$x^2+y^2+z^2+3x-4z+1=0$$

۱۷۷۴۲ حل: ہم مستوی میں دائرے کا مرکز اور رداس حاصل کرنے کی طرح یہاں بھی x ، y اور z کے مربع مکمل کر کے معیاری مساوات کے ساتھ موازنہ
۱۷۷۴۳ کر کے مرکز اور رداس دریافت کرتے ہیں۔

$$\begin{aligned}x^2+y^2+z^2+3x-4z+1&=0\\ (x^2+3x\quad)+y^2+(z^2-4z\quad)&=-1\\ \left(x^2+3x+(\tfrac{3}{2})^2\right)+y^2+\left(z^2-4z+(-\tfrac{4}{2})^2\right)&=-1+(\tfrac{3}{2})^2+(-\tfrac{4}{2})^2\\ (x+\tfrac{3}{2})^2+y^2+(z-2)^2&=-1+\tfrac{9}{4}+4=\tfrac{21}{4}\end{aligned}$$

۱۷۷۴۴ یہ مساوات ۷ ہے لہٰذا $x_0=-\frac{3}{2}$ ، $y_0=0$ ، $z_0=2$ اور $a=\frac{\sqrt{21}}{2}$ ہیں۔ یوں مرکز $(-\frac{3}{2},0,2)$ اور رداس $\frac{\sqrt{21}}{2}$ ہو گا۔
۱۷۷۴۵ □

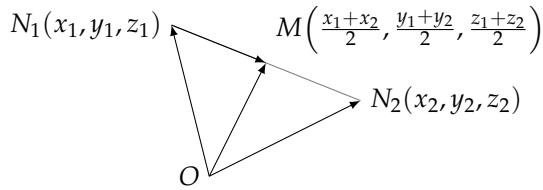

شکل ۱۱.۲۵: نقاط N_1 اور N_2 کے محدد کی اوسط قطعہ N_1N_2 کے وسطی نقطہ کے محدد ہوں گے۔

۱۷۷۴۶ مثال ۱۱.۱۸:

مساوات اور عدم مساوات	تفصیل
$x^2 + y^2 + z^2 < 4$	کرہ $x^2 + y^2 + z^2 = 4$ کا اندرون۔
$x^2 + y^2 + z^2 \leq 4$	سطح $x^2 + y^2 + z^2 = 4$ اور اس کے اندرون پر مشتمل ٹھوس کرہ یا کرہ $x^2 + y^2 + z^2 = 4$ میں محدود گیند۔
$x^2 + y^2 + z^2 > 4$	کرہ $x^2 + y^2 + z^2 = 4$ کا بیرون۔
$x^2 + y^2 + z^2 = 4,\ z \leq 0$	کرہ $x^2 + y^2 + z^2 = 4$ کا نچلا نصف حصہ۔

۱۷۷۴۷ □

۱۷۷۴۸ وسطی نقاط

۱۷۷۴۹ کسی بھی قطعہ کا وسطی نقطہ اوسط کی مدد سے حاصل کیا جاتا ہے۔ نقطہ $N_1(x_1, y_1, z_1)$ اور $N_2(x_2, y_2, z_2)$ کا وسطی نقطہ درج ذیل ہو گا۔

$$\left(\frac{x_1 + x_2}{2}, \frac{y_1 + y_2}{2}, \frac{z_1 + z_2}{2}\right)$$

۱۷۷۵۰ اس کی وجہ درج ذیل ہے (شکل ۱۱.۲۵)۔

$$\begin{aligned}
\overrightarrow{OM} &= \overrightarrow{ON_1} + \frac{1}{2}\overrightarrow{N_1N_2} = \overrightarrow{ON_1} + \frac{1}{2}(\overrightarrow{ON_2} - \overrightarrow{ON_1}) \\
&= \frac{1}{2}(\overrightarrow{ON_1} + \overrightarrow{ON_2}) \\
&= \frac{x_1 + x_2}{2}\boldsymbol{i} + \frac{y_1 + y_2}{2}\boldsymbol{j} + \frac{z_1 + z_2}{2}\boldsymbol{k}
\end{aligned}$$

۱۷۷۵۱ مثال ۱۱.۱۹: نقطہ $N_1(3, -2, 0)$ اور $N_2(7, 4, 4,)$ کو ملانے والی قطعہ کا وسطی نقطہ درج ذیل ہو گا۔

$$\left(\frac{3+7}{2}, \frac{-2+4}{2}, \frac{0+4}{2}\right) = (5, 1, 2)$$

۱۷۷۵۲ □

سوالات

سلسلہ، مساوات اور عدم مساوات

سوال ۱۱.۴۶ تا سوال ۱۱.۵۷ میں ان نقطوں کے سلسلہ کی جیومیٹریائی تفصیل بیان کریں جو دی گئی جوڑی مساوات کو مطمئن کرتے ہیں۔

سوال ۱۱.۴۶: $x = 2, \quad y = 3$

سوال ۱۱.۴۷: $x = -1, \quad z = 0$

سوال ۱۱.۴۸: $y = 0, \quad z = 0$

سوال ۱۱.۴۹: $x = 1, \quad y = 0$

سوال ۱۱.۵۰: $x^2 + y^2 = 4, \quad z = 0$

سوال ۱۱.۵۱: $x^2 + y^2 = 4, \quad z = -2$

سوال ۱۱.۵۲: $x^2 + z^2 = 4, \quad y = 0$

سوال ۱۱.۵۳: $y^2 + z^2 = 1, \quad x = 0$

سوال ۱۱.۵۴: $x^2 + y^2 + z^2 = 1, \quad x = 0$

سوال ۱۱.۵۵: $x^2 + y^2 + z^2 = 25, \quad y = -4$

سوال ۱۱.۵۶: $x^2 + y^2 + (z+3)^2 = 25, \quad z = 0$

سوال ۱۱.۵۷: $x^2 + (y-1)^2 + z^2 = 4, \quad y = 0$

سوال ۱۱.۵۸ تا سوال ۱۱.۶۳ میں ان نقاط کے سلسلہ کو جیومیٹریائی بیان کریں جو دی گئی عدم مساوات یا مساوات اور عدم مساوات کی جوڑی کو مطمئن کرتے ہیں۔

سوال ۱۱.۵۸: (ا) $x \geq 0, \quad y \geq 0, \quad z = 0$ (ب) $x \geq 0, \quad y \leq 0, \quad z = 0$

سوال ۱۱.۵۹:

ا. $0 \leq x \leq 1$

ب. $0 \leq x \leq 1, \quad 0 \leq y \leq 1$

ج. $0 \leq x \leq 1, \quad 0 \leq y \leq 1, \quad 0 \leq z \leq 1$

سوال ۱۱.۶۰:

ا. $x^2 + y^2 + z^2 \leq 1$

ب. $x^2 + y^2 + z^2 > 1$

سوال ۱۱.۶۱: (ا) $x^2 + y^2 \leq 1, z = 0$ (ب) $x^2 + y^2 \leq 1, z = 3$ (ج) $x^2 + y^2 \leq 1,$ جہاں z پر کوئی شرط لاگو نہیں ہے۔

سوال ۱۱.۶۲: (ا) $x^2 + y^2 + z^2 = 1,\ z \geq 0$ (ب) $x^2 + y^2 + z^2 \leq 1,\ z \geq 0$

سوال ۱۱.۶۳: (ا) $x = y,\ z = 0$ (ب) $x = y$ جہاں z پر کوئی شرط لاگو نہیں ہے۔

سوال ۱۱.۶۴ تا سوال ۱۱.۷۳ میں دیے گئے سلسلہ کو ایک مساوات یا جوڑی مساوات سے ظاہر کریں۔

سوال ۱۱.۶۴: وہ مستوی جو (ا) نقطہ $(3,0,0)$ پر محور x، (ب) نقطہ $(0,-1,0)$ پر محور y، (ج) نقطہ $(0,0,-2)$ پر محور z کو عمودی ہے۔

سوال ۱۱.۶۵: ایک مستوی جو نقطہ $(3,-1,2)$ پر (ا) محور x، (ب) محور y، (ج) محور z کو عمودی ہے۔

سوال ۱۱.۶۶: ایک مستوی جو نقطہ $(3,-1,1)$ پر (ا) مستوی xy، (ب) مستوی yz، (ج) مستوی xz کے متوازی ہے۔

سوال ۱۱.۶۷: وہ دائرہ جس کا رداس 2 اور مرکز $(0,0,0)$ ہو اور جو (ا) مستوی xy، (ب) مستوی yz، (ج) مستوی xz میں پایا جاتا ہو۔

سوال ۱۱.۶۸: وہ دائرہ جس کا رداس 2 اور مرکز $(0,2,0)$ ہو اور جو (ا) مستوی xy، (ب) مستوی yz، (ج) مستوی $y = 2$ میں پایا جاتا ہو۔

سوال ۱۱.۶۹: وہ دائرہ جس کا رداس 1 اور مرکز $(-3,4,1)$ ہو اور جو (ا) مستوی xy، (ب) مستوی yz، (ج) مستوی xz کے متوازی سطح میں پایا جاتا ہو۔

سوال ۱۱.۷۰: نقطہ $(1,3,-1)$ سے گزرتا خط جو (ا) محور x، (ب) محور y، (ج) محور z کے متوازی ہو۔

سوال ۱۱.۷۱: فضا میں وہ نقطے معلوم کریں جن کا فاصلہ مبدا اور نقطہ $(0,2,0)$ سے یکساں ہو۔

سوال ۱۱.۷۲: وہ دائرہ معلوم کریں جس میں نقطہ $(1,1,3)$ سے گزرتا ہوا ایسا مستوی جو محور z کے عمودی ہو ایک ایسے دائرہ کو جا ملتا ہو جس کا رداس 5 اور مرکز $(0,0,0)$ ہو۔

سوال ۱۱.۷۳: فضا میں ان نقطوں کا سلسلہ جن کا فاصلہ $(0,0,1)$ سے 2 اور $(0,0,-1)$ سے 2 ہو۔

سوال ۱۱.۷۴ تا سوال ۱۱.۷۹ میں دیے سلسلہ کی عدم مساوات پیش کریں۔

سوال ۱۱.۷۴: سطح $z = 0$ اور $z = 1$ کے بیچ پٹی بشمول ان سطحوں کے۔

سوال ۱۱.۷۵: پہلے ثمن میں محددی سطحوں اور سطحوں $x = 2$ ، $y = 2$ اور $z = 2$ میں محدود ٹھوس مکعب۔

سوال ۱۱.۷۶: نصف فضا جو مستوی xy اور اس کے نیچے نقطوں پر مشتمل ہے۔

سوال ۱۱.۷۷: رداس 1 کا کرہ جس کا مرکز مبدا پر ہو کا بالائی نصف حصہ۔

سوال ۱۱.۷۸: رداس 1 کا کرہ جس کا مرکز $(1,1,1)$ ہو کا (ا) اندرون، (ب) بیرون۔

سوال ۱۱.۷۹: رداس 1 اور 2 کے کرہ جن کے مراکز مبدا پر ہوں میں بند خطہ۔ (بند خطہ سے مراد ہے کہ کرہ کی سطحیں بھی اس خطہ میں شامل ہوں گی۔ کروی سطحوں کو شامل نہ کرنے کے لئے ہم آزاد خطے کی اصطلاح استعمال کرتے ہیں۔)

۱۷۸۰۸ **لمبائی اور رخ**

۱۷۸۰۹ سوال ۱۱.۸۰ تا سوال ۱۱.۸۹ میں دیے سمتیہ کو اس کی لمبائی ضرب رخ کی صورت میں لکھیں۔

۱۷۸۱۰ سوال ۱۱.۸۰: $2\boldsymbol{i}+\boldsymbol{j}-2\boldsymbol{k}$

۱۷۸۱۱ سوال ۱۱.۸۱: $3\boldsymbol{i}-6\boldsymbol{j}+2\boldsymbol{k}$

۱۷۸۱۲ سوال ۱۱.۸۲: $\boldsymbol{i}+4\boldsymbol{j}-8\boldsymbol{k}$

۱۷۸۱۳ سوال ۱۱.۸۳: $9\boldsymbol{i}-2\boldsymbol{j}+6\boldsymbol{k}$

۱۷۸۱۴ سوال ۱۱.۸۴: $5\boldsymbol{k}$

۱۷۸۱۵ سوال ۱۱.۸۵: $-4\boldsymbol{j}$

۱۷۸۱۶ سوال ۱۱.۸۶: $\frac{3}{5}\boldsymbol{i}+\frac{4}{5}\boldsymbol{k}$

۱۷۸۱۷ سوال ۱۱.۸۷: $\frac{1}{\sqrt{2}}\boldsymbol{i}-\frac{1}{\sqrt{2}}\boldsymbol{k}$

۱۷۸۱۸ سوال ۱۱.۸۸: $\frac{1}{\sqrt{6}}\boldsymbol{i}-\frac{1}{\sqrt{6}}\boldsymbol{i}-\frac{1}{\sqrt{6}}\boldsymbol{k}$

۱۷۸۱۹ سوال ۱۱.۸۹: $\frac{\boldsymbol{i}}{\sqrt{3}}+\frac{\boldsymbol{j}}{\sqrt{3}}+\frac{\boldsymbol{k}}{\sqrt{3}}$

۱۷۸۲۰

۱۷۸۲۱ سوال ۱۱.۹۰: سمتیات کی لمبائیاں اور رخ دیے گئے ہیں۔ ان سمتیات کو تلاش کریں۔ کوشش کریں کہ حساب زبانی کریں۔

۱۷۸۲۲

۱۷۸۲۳

شمار	لمبائی	رخ
(ا)	2	$\boldsymbol{i}$
(ب)	$\sqrt{3}$	$-\boldsymbol{k}$
(ج)	$\frac{1}{2}$	$\frac{3}{5}\boldsymbol{j}+\frac{4}{5}\boldsymbol{k}$
(د)	7	$\frac{6}{7}\boldsymbol{i}-\frac{2}{7}\boldsymbol{j}+\frac{3}{7}\boldsymbol{k}$

۱۷۸۲۴ سوال ۱۱.۹۱: سمتیات کی لمبائیاں اور رخ دیے گئے ہیں۔ ان سمتیات کو تلاش کریں۔ کوشش کریں کہ حساب زبانی کریں۔

۱۷۸۲۵

۱۷۸۲۶

شمار	لمبائی	رخ
(ا)	7	$-\boldsymbol{j}$
(ب)	$\sqrt{2}$	$-\frac{3}{5}\boldsymbol{i}-\frac{4}{5}\boldsymbol{k}$
(ج)	$\frac{13}{12}$	$\frac{3}{13}\boldsymbol{i}-\frac{4}{13}\boldsymbol{j}-\frac{12}{13}\boldsymbol{k}$
(د)	$a>0$	$\frac{1}{\sqrt{2}}\boldsymbol{i}+\frac{1}{\sqrt{3}}\boldsymbol{j}-\frac{1}{\sqrt{6}}\boldsymbol{k}$

سوال ۱۱.۹۲: سمتیہ $\boldsymbol{A} = 12\boldsymbol{i} - 5\boldsymbol{k}$ کے رخ ایسا سمتیہ تلاش کریں جس کی لمبائی 7 ہو۔

سوال ۱۱.۹۳: سمتیہ $\boldsymbol{A} = \boldsymbol{i} + \boldsymbol{j} + \boldsymbol{k}$ کے رخ ایسا سمتیہ تلاش کریں جس کی لمبائی $\sqrt{5}$ ہو۔

سوال ۱۱.۹۴: سمتیہ $\boldsymbol{A} = 2\boldsymbol{i} - 3\boldsymbol{j} + 6\boldsymbol{k}$ کے مخالف رخ ایسا سمتیہ تلاش کریں جس کی لمبائی 5 ہو۔

سوال ۱۱.۹۵: سمتیہ $\boldsymbol{A} = \frac{1}{2}\boldsymbol{i} - \frac{1}{2}\boldsymbol{j} - \frac{1}{2}\boldsymbol{k}$ کے مخالف رخ ایسا سمتیہ تلاش کریں جس کی لمبائی 3 ہو۔

سمتیات کا تعین بذریعہ نقاط، وسطی نقاط اور فاصلہ

سوال ۱۱.۹۶ تا سوال ۱۱.۱۰۱ میں درج ذیل معلوم کریں۔

ا. نقاط N_1 اور N_2 کے بیچ فاصلہ،

ب. رخ $\overrightarrow{N_1N_2}$ ،

ج. قطعہ N_1N_2 کا وسطی نقطہ۔

سوال ۱۱.۹۶: $N_1(1,1,1), \quad N_2(3,3,0)$

سوال ۱۱.۹۷: $N_1(-1,1,5), \quad N_2(2,5,0)$

سوال ۱۱.۹۸: $N_1(1,4,5), \quad N_2(4,-2,7)$

سوال ۱۱.۹۹: $N_1(3,4,5), \quad N_2(2,3,4)$

سوال ۱۱.۱۰۰: $N_1(0,0,0), \quad N_2(2,-2,-2)$

سوال ۱۱.۱۰۱: $N_1(5,3,-2), \quad N_2(0,0,0)$

سوال ۱۱.۱۰۲: اگر $\overrightarrow{AB} = \boldsymbol{i} + 4\boldsymbol{j} - 2\boldsymbol{k}$ اور B نقطہ $(5,1,3)$ ہو تب نقطہ A تلاش کریں۔

سوال ۱۱.۱۰۳: اگر $\overrightarrow{AB} = -7\boldsymbol{i} + 3\boldsymbol{j} + 8\boldsymbol{k}$ اور A نقطہ $(-2,-3,6)$ ہو تب نقطہ B تلاش کریں۔

کرہ

سوال ۱۱.۱۰۴ تا سوال ۱۱.۱۰۷ میں کرہ کے رداس اور مراکز تلاش کریں۔

سوال ۱۱.۱۰۴: $(x+2)^2 + y^2 + (z-2)^2 = 8$

سوال ۱۱.۱۰۵: $(x+\frac{1}{2})^2 + (y+\frac{1}{2})^2 + (z+\frac{1}{2})^2 = \frac{21}{4}$

سوال ۱۱.۱۰۶: $(x-\sqrt{2})^2 + (y-\sqrt{2})^2 + (z+\sqrt{2})^2 = 2$

سوال ۱۱.۱۰۷: $x^2 + (y+\frac{1}{3})^2 + (z-\frac{1}{3})^2 = \frac{29}{9}$

سوال ۱۱.۱۰۸ تا سوال ۱۱.۱۱۱ میں کرہ کے رداس اور مراکز دیے گئے ہیں۔ ان کرہ کی مساوات حاصل کریں۔

سوال ۱۱.۱۰۸: رداس $\sqrt{14}$ ، مرکز $(1,2,3)$

سوال ۱۱.۱۰۹: رداس 2 ، مرکز $(0,-1,5)$

سوال ۱۱.۱۱۰: رداس $\sqrt{3}$ ، مرکز $(-2,0,0)$

سوال ۱۱.۱۱۱: رداس 7 ، مرکز $(0,-7,0)$

سوال ۱۱.۱۱۲ تا سوال ۱۱.۱۱۵ میں دیے کرہ کے رداس اور مراکز دریافت کریں۔

سوال ۱۱.۱۱۲: $x^2+y^2+z^2+4x-4z=0$

سوال ۱۱.۱۱۳: $x^2+y^2+z^2-6y+8z=0$

سوال ۱۱.۱۱۴: $2x^2+2y^2+2z^2+x+y+z=9$

سوال ۱۱.۱۱۵: $3x^2+3y^2+3z^2+2y-2z=9$

سوال ۱۱.۱۱۶: نقطہ $N(x,y,z)$ سے (ا) محور x ، (ب) محور y ، (ج) محور z تک فاصلہ تلاش کریں۔

سوال ۱۱.۱۱۷: نقطہ $N(x,y,z)$ سے (ا) سطح xy ، (ب) سطح yz ، (ج) سطح xz تک فاصلہ تلاش کریں۔

سمتیات اور جیومیٹری

سوال ۱۱.۱۱۸: نقاط $A(4,2,0)$ ، $B(1,3,0)$ اور $C(1,1,3)$ یکساں کثافت کے باریک مثلث کے راس ہیں۔

ا. نقطہ C سے AB کے وسطی نقطہ M تک سمتیہ تلاش کریں۔

ب. نقطہ C سے وسطانیہ CM پر C سے $\frac{2}{3}$ فاصلہ تک سمتیہ تلاش کریں۔

ج. مثلث ABC کے وسطانیوں کے نقطہ تقاطع کے محدد تلاش کریں۔

سوال ۱۱.۱۱۹: ایک مثلث جس کے راس $A(1,-1,2)$ ، $B(2,1,3)$ اور $C(-1,2,-1)$ ہیں کے وسطانیوں کے نقطہ تقاطع تک مبدا سے سمتیہ تلاش کریں۔

سوال ۱۱.۱۲۰: فضا میں چار الاضلاع کے راس A ، B ، C اور D ہیں۔ یہ چار الاضلاع ضروری نہیں کہ مستوی ہو۔ دکھائیں کہ مخالف اضلاع کے وسطانی نقطوں کو جوڑنے والے قطعات ایک دوسرے کو نصف میں قطع کرتے ہیں۔ (اشارہ: دکھائیں کہ ان قطعات کے وسطی نقاط یکساں ہیں۔)

سوال ۱۱.۱۲۱: منظم n کثیر الاضلاع کے مرکز سے اس کے راس تک سمتیات بنائے جاتے ہیں۔ دکھائیں کہ ان سمتیات کا مجموعہ صفر ہو گا۔ (اشارہ: کثیر الاضلاع کو اپنے مرکز کے گرد گھمانے سے اس مجموعہ پر کیا اثر ہو گا؟)

سوال ۱۱.۱۲۲: فرض کریں ایک مثلث کے راس A ، B اور C ہیں جبکہ مطابقتی مخالف اضلاع کے وسطی نقاط a ، b اور c ہیں۔ دکھائیں کہ $\vec{Aa}+\vec{Bb}+\vec{Cc}=0$ ہو گا۔

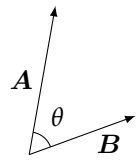

شکل ۱۱.۲۶: سمتیات $\boldsymbol{A}$ اور $\boldsymbol{B}$ کے بیچ زاویہ۔

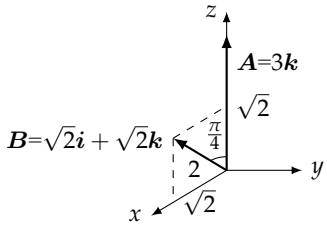

شکل ۱۱.۲۷: سمتیات برائے مثال ۱۱.۲۰

۱۷۸۸۲

۱۷۸۸۳

۱۱.۳ ضرب نقطہ

۱۷۸۸۴

۱۷۸۸۵ ہم اب ضرب نقطہ پر غور کرتے ہیں جو سمتیات کو آپس میں ضرب دینے کے دو طریقوں میں سے ایک ہے۔ چونکہ ضرب نقطہ کا نتیجہ غیر سمتی ہوتا ہے لہٰذا
۱۷۸۸۶ ضرب نقطہ کو **غیر سمتی ضرب**[۱۸] بھی کہتے ہیں۔

ضرب نقطہ

۱۷۸۸۷

۱۷۸۸۸ جب دو غیر صفر سمتیات $\boldsymbol{A}$ اور $\boldsymbol{B}$ کے ابتدائی نقاط کو ایک ہی نقطہ پر رکھا جائے تب ان سمتیات کے بیچ زاویہ $0 \leq \theta \leq \pi$ پایا جاتا ہے۔ یہ زاویہ
۱۷۸۸۹ $\boldsymbol{A}$ اور $\boldsymbol{B}$ کے بیچ زاویہ کہلاتا ہے۔

۱۷۸۹۰ تعریف: سمتیات $\boldsymbol{A}$ اور $\boldsymbol{B}$ کے غیر سمتی ضرب (ضرب نقطہ) سے مراد درج ذیل عدد ہے

$$\boldsymbol{A} \cdot \boldsymbol{B} = |\boldsymbol{A}||\boldsymbol{B}| \cos\theta \tag{۱}$$

۱۷۸۹۱ جہاں θ سمتیات $\boldsymbol{A}$ اور $\boldsymbol{B}$ کے بیچ زاویہ ہے (شکل ۱۱.۲۶)۔

۱۷۸۹۲ □

۱۷۸۹۳ الفاظ میں، $\boldsymbol{A} \cdot \boldsymbol{B}$ سے مراد $\boldsymbol{A}$ کی لمبائی ضرب $\boldsymbol{B}$ کی لمبائی ضرب اس زاویہ کا کوسائن جو ان سمتیات کے بیچ پایا جاتا ہے۔

۱۷۸۹۴ سمتیات $\boldsymbol{A}$ اور $\boldsymbol{B}$ کے ضرب نقطہ کو $\boldsymbol{A}$ اور $\boldsymbol{B}$ کے بیچ نقطہ سے ظاہر کیا جاتا ہے یعنی $\boldsymbol{A} \cdot \boldsymbol{B}$ جس کی وجہ سے یہ ضرب نقطہ کہلاتا ہے۔

۱۷۸۹۵ مثال ۱۱.۲۰: سمتیات $\boldsymbol{A} = 3\boldsymbol{k}$ اور $\boldsymbol{B} = \sqrt{2}\boldsymbol{i} + \sqrt{2}\boldsymbol{k}$ کے ضرب نقطہ درج ذیل ہوگا (شکل ۱۱.۲۷)۔

$$\boldsymbol{A} \cdot \boldsymbol{A} = |\boldsymbol{A}||\boldsymbol{B}| \cos\theta = (3)(2)\cos\frac{\pi}{4} = 6 \cdot \frac{\sqrt{2}}{2} = 3\sqrt{2}$$

---

[۱۸] scalarproduct

□

چونکہ غیر سمتی ضرب کی علامت $\cos\theta$ پر منحصر ہے لہٰذا غیر سمتی ضرب کا نتیجہ زاویہ حادہ کی صورت میں مثبت، زاویہ منفرجہ کی صورت میں منفی (اور زاویہ قائمہ کی صورت میں صفر ہو گا)۔

چونکہ سمتیہ $\boldsymbol{A}$ کا اپنے ساتھ زاویہ صفر ہے اور $\cos 0 = 1$ ہوتا ہے لہٰذا

$$\boldsymbol{A}\cdot\boldsymbol{A} = |\boldsymbol{A}||\boldsymbol{A}|\cos 0 = |\boldsymbol{A}||\boldsymbol{A}|\,(1) = |\boldsymbol{A}|^2$$

یعنی

$$|\boldsymbol{A}| = \sqrt{\boldsymbol{A}\cdot\boldsymbol{A}} \tag{۲}$$

ہو گا۔

حساب

کارتیسی نظام میں $\boldsymbol{A}\cdot\boldsymbol{B}$ کا حساب $\boldsymbol{A}$ اور $\boldsymbol{B}$ کے اجزاء سے حاصل کرنے کی خاطر ہم درج ذیل لیتے ہیں۔

$$\begin{aligned}
\boldsymbol{A} &= a_1\boldsymbol{i} + a_2\boldsymbol{j} + a_3\boldsymbol{k},\\
\boldsymbol{B} &= b_1\boldsymbol{i} + b_2\boldsymbol{j} + b_3\boldsymbol{k},\\
\boldsymbol{C} &= \boldsymbol{B} - \boldsymbol{A} = (b_1 - a_1)\boldsymbol{i} + (b_2 - a_2)\boldsymbol{j} + (b_3 - a_3)\boldsymbol{k}
\end{aligned}$$

ایک مثلث جس کے اضلاع $\boldsymbol{A}$ ، $\boldsymbol{B}$ اور $\boldsymbol{C}$ ہوں کے لئے قاعدہ کوسائن درج ذیل ہو گا (شکل ۱۱.۲۸)۔

$$\begin{aligned}
|\boldsymbol{C}|^2 &= |\boldsymbol{A}|^2 + |\boldsymbol{B}|^2 - 2|\boldsymbol{A}||\boldsymbol{B}|\cos\theta\\
|\boldsymbol{A}||\boldsymbol{B}|\cos\theta &= \frac{|\boldsymbol{A}|^2 + |\boldsymbol{B}|^2 - |\boldsymbol{C}|^2}{2}
\end{aligned}$$

اس مساوات کا بایاں ہاتھ $\boldsymbol{A}\cdot\boldsymbol{B}$ ہے۔ ہم $\boldsymbol{A}$ ، $\boldsymbol{B}$ اور $\boldsymbol{C}$ کے اجزاء کا مربع لے کر مساوات کے دائیں ہاتھ کی قیمت حاصل کرتے ہیں (مساوات ۳)۔ یوں

$$\boldsymbol{A}\cdot\boldsymbol{B} = a_1b_1 + a_2b_2 + a_3b_3 \tag{۳}$$

حاصل ہوتا ہے لہٰذا دو سمتیات کا غیر سمتی ضرب لینے کی خاطر ہم اس کے مطابق $\boldsymbol{i}$ ، $\boldsymbol{j}$ اور $\boldsymbol{k}$ اجزاء کو ضرب دے کر ان کا مجموعہ لیتے ہیں۔

مساوات ۱ کو θ کے لئے حل کر کے ان سمتیات کے بیچ زاویہ حاصل ہو گا۔

$$\theta = \cos^{-1}\left(\frac{\boldsymbol{A}\cdot\boldsymbol{B}}{|\boldsymbol{A}||\boldsymbol{B}|}\right) \tag{۴}$$

سمتیات کے بیچ زاویہ

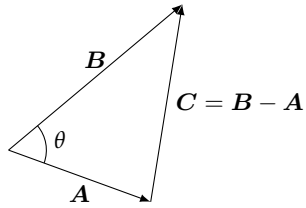

شکل ۱۱.۲۸: ایک مثلث جس کے اضلاع $\boldsymbol{A}$ ، $\boldsymbol{B}$ اور $\boldsymbol{C} = \boldsymbol{B} - \boldsymbol{A}$ ہوں پر قاعدہ کوسائن کے اطلاق سے مساوات ۳ حاصل ہو گا۔

۱۷۹۰۹ چونکہ الٹ کوسائن کی قیمت $[0, \pi]$ میں پائی جاتی ہے لہٰذا مساوات ۴ خود بخود $\boldsymbol{A}$ اور $\boldsymbol{B}$ کے بیچ زاویہ دیتی ہے۔

۱۷۹۱۰ مثال ۱۱.۲۱: سمتیات $\boldsymbol{A} = \boldsymbol{i} - 2\boldsymbol{j} - 2\boldsymbol{k}$ اور $\boldsymbol{B} = 6\boldsymbol{i} + 3\boldsymbol{j} + 2\boldsymbol{k}$ کے بیچ زاویہ تلاش کریں۔

۱۷۹۱۱ حل: ہم مساوات ۱۴ استعمال کرتے ہیں۔

$$\begin{aligned}
\boldsymbol{A} \cdot \boldsymbol{B} &= (1)(6) + (-2)(3) + (-2)(2) = 6 - 6 - 4 = -4 \\
|\boldsymbol{A}| &= \sqrt{(1)^2 + (-2)^2 + (-2)^2} = \sqrt{9} = 3 \\
|\boldsymbol{B}| &= \sqrt{(6)^2 + (3)^2 + (2)^2} = \sqrt{49} = 7 \\
\theta &= \cos^{-1}\left(\frac{\boldsymbol{A} \cdot \boldsymbol{B}}{|\boldsymbol{A}||\boldsymbol{B}|}\right) \\
&= \cos^{-1}\left(\frac{-4}{(3)(7)}\right) = \cos^{-1}\left(-\frac{4}{21}\right) \approx 1.76 \text{ ریڈیئن}
\end{aligned}$$

۱۷۹۱۲ □

۱۷۹۱۳ **قواعد ضرب نقطہ**

۱۷۹۱۴ ہم ضرب نقطہ کی مساوات $\boldsymbol{A} \cdot \boldsymbol{B} = a_1 b_1 + a_2 b_2 + c_1 c_2$ سے درج ذیل لکھ سکتے ہیں۔

$$\boldsymbol{A} \cdot \boldsymbol{B} = \boldsymbol{B} \cdot \boldsymbol{A} \tag{۵}$$

۱۷۹۱۵ دوسرے لفظوں میں، ضرب نقطہ **قابل تبادل**[۱۹] ہے۔ ہم مساوات ۳ سے یہ بھی دیکھتے ہیں کہ مستقل (یا غیر سمتی) عدد c کی صورت میں درج ذیل ہو گا۔

$$(c\boldsymbol{A}) \cdot \boldsymbol{B} = \boldsymbol{A} \cdot (c\boldsymbol{B}) = c(\boldsymbol{A} \cdot \boldsymbol{B}) \tag{۶}$$

---

[۱۹] commutative

۱۷۹۱۶ اگر $\boldsymbol{C} = c_1\boldsymbol{i} + c_2\boldsymbol{j} + c_3\boldsymbol{k}$ کوئی تیسرا سمتیہ ہو تب درج ذیل لکھا جا سکتا ہے۔

$$\begin{aligned}\boldsymbol{A}\cdot(\boldsymbol{B}+\boldsymbol{C}) &= a_1(b_1+c_1)+a_2(b_2+c_2)+a_3(b_3+c_3)\\ &= (a_1b_1+a_2b_2+a_3b_3)+(a_1c_1+a_2c_2+a_3c_3)\\ &= \boldsymbol{A}\cdot\boldsymbol{B}+\boldsymbol{A}\cdot\boldsymbol{C}\end{aligned}$$

۱۷۹۱۷ اس طرح ضرب نقطہ قانون تقسیم (درج ذیل) کو مطمئن کرتا ہے۔

$$\boldsymbol{A}\cdot(\boldsymbol{B}+\boldsymbol{C}) = \boldsymbol{A}\cdot\boldsymbol{B}+\boldsymbol{A}\cdot\boldsymbol{C} \tag{۷}$$

۱۷۹۱۸ اس کو مساوات ۵ کے ساتھ ملا کر درج ذیل لکھا جا سکتا ہے۔

$$(\boldsymbol{A}+\boldsymbol{B})\cdot\boldsymbol{C} = \boldsymbol{A}\cdot\boldsymbol{C}+\boldsymbol{B}\cdot\boldsymbol{C} \tag{۸}$$

۱۷۹۱۹ مساوات ۷ اور مساوات ۸ ہمیں سمتیات کے مجموعوں کو، الجبرا کے قواعد کے مطابق، آپس میں ضرب دینے کی اجازت دیتے ہیں۔ مثال کے طور پر:

$$(\boldsymbol{A}+\boldsymbol{B})\cdot(\boldsymbol{C}+\boldsymbol{D}) = \boldsymbol{A}\cdot\boldsymbol{C}+\boldsymbol{A}\cdot\boldsymbol{D}+\boldsymbol{B}\cdot\boldsymbol{C}+\boldsymbol{B}\cdot\boldsymbol{D} \tag{۹}$$

۱۷۹۲۰ **عمودی سمتیات**

۱۷۹۲۱ دو غیر صفر سمتیات $\boldsymbol{A}$ اور $\boldsymbol{B}$ تب **عمودی**[۲۰] ہوں گے جب ان کے بیچ زاویہ $\frac{\pi}{2}$ ہو۔ یوں $\cos\frac{\pi}{2} = 0$ کی وجہ سے عمودی سمتیات کے لئے
۱۷۹۲۲ $\boldsymbol{A}\cdot\boldsymbol{B} = 0$ ہوگا۔ اسی طرح اگر $\boldsymbol{A}$ اور $\boldsymbol{B}$ غیر صفر سمتیات ہوں اور $\boldsymbol{A}\cdot\boldsymbol{B} = |\boldsymbol{A}||\boldsymbol{B}|\cos\theta = 0$ ہو تب $\cos\theta = 0$
۱۷۹۲۳ یعنی $\theta = \cos^{-1}0 = \frac{\pi}{2}$ ہوگا۔

۱۷۹۲۴ دو غیر صفر سمتیات $\boldsymbol{A}$ اور $\boldsymbol{B}$ صرف اور صرف اس صورت عمودی ہوں گے جب $\boldsymbol{A}\cdot\boldsymbol{B} = 0$ ہو۔

۱۷۹۲۵ مثال ۱۱.۲۲: سمتیات $\boldsymbol{A} = 3\boldsymbol{i} - 2\boldsymbol{j} + \boldsymbol{k}$ اور $\boldsymbol{B} = 2\boldsymbol{j} + 4\boldsymbol{k}$ درج ذیل کی وجہ سے عمودی ہیں۔

$$\boldsymbol{A}\cdot\boldsymbol{B} = (3)(0)+(-2)(2)+(1)(4) = 0$$

۱۷۹۲۶ □

۱۷۹۲۷ **تطلیل سمتیہ**

۱۷۹۲۸ سمتیہ $\boldsymbol{B} = \overrightarrow{NQ}$ کا غیر صفر سمتیہ $\boldsymbol{A} = \overrightarrow{NS}$ پر تطلیل سمتیہ $\overrightarrow{NR}$ تعین کرنے کی خاطر Q سے (مبسوط) خط NS پر عمود گرایا جاتا ہے
۱۷۹۲۹ (شکل ۱۱.۲۹)۔ اس سمتیہ کو درج ذیل سے ظاہر کیا جاتا ہے۔

$\boldsymbol{B}$ کا $\boldsymbol{A}$ پر سمتی تطلیل $\qquad \text{proj}_{\boldsymbol{A}}\ \boldsymbol{B}$

۱۷۹۳۰ اگر $\boldsymbol{B}$ قوت کو ظاہر کرتا ہو، تب $\text{proj}_{\boldsymbol{A}}\ \boldsymbol{B}$ سمتیہ $\boldsymbol{A}$ کے رخ اثر انداز ہونے والی قوت ہو گی۔

---

[۲۰] orthogonal

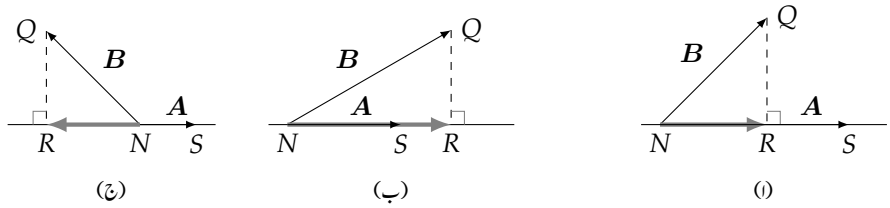

شکل ۱۱.۲۹: $\boldsymbol{B}$ کا $\boldsymbol{A}$ پر سمتی تطلیل

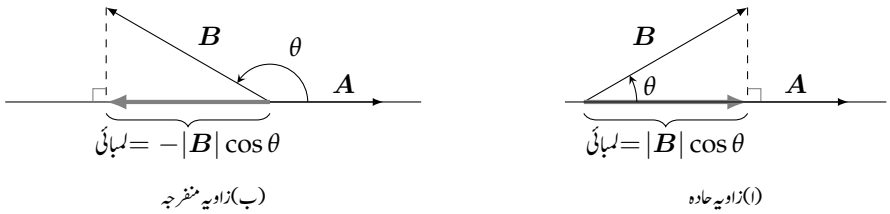

شکل ۱۱.۳۰: $\boldsymbol{A}$ پر $\boldsymbol{B}$ کے تطلیل کی لمبائی

۱۷۹۳۱ اگر $\boldsymbol{A}$ اور $\boldsymbol{B}$ کے بیچ زاویہ حادہ ہو تب $\boldsymbol{A}$ پر تطلیل $\boldsymbol{B}$ کی لمبائی $|\boldsymbol{B}|\cos\theta$ اور رخ $\frac{\boldsymbol{A}}{|\boldsymbol{A}|}$ ہو گا (شکل ۱۱.۳۰)۔ اگر θ زاویہ منفرجہ ہو تب
۱۷۹۳۲ $\cos\theta < 0$ ہو گا اور $\boldsymbol{A}$ پر تطلیل $\boldsymbol{B}$ کی لمبائی $-|\boldsymbol{B}|\cos\theta$ اور رخ $-\frac{\boldsymbol{A}}{|\boldsymbol{A}|}$ ہو گا۔ ان دونوں صورتوں میں درج ذیل ہو گا۔

$$\begin{aligned}
\text{proj}_{\boldsymbol{A}}\ \boldsymbol{B} &= (|\boldsymbol{B}|\cos\theta)\frac{\boldsymbol{A}}{|\boldsymbol{A}|} \\
&= \left(\frac{\boldsymbol{A}\cdot\boldsymbol{B}}{|\boldsymbol{A}|}\right)\frac{\boldsymbol{A}}{|\boldsymbol{A}|} \qquad |\boldsymbol{B}|\cos\theta = \frac{|\boldsymbol{A}||\boldsymbol{B}|\cos\theta}{|\boldsymbol{A}|} = \frac{\boldsymbol{A}\cdot\boldsymbol{B}}{|\boldsymbol{A}|} \\
&= \left(\boldsymbol{B}\cdot\frac{\boldsymbol{A}}{|\boldsymbol{A}|}\right)\frac{\boldsymbol{A}}{|\boldsymbol{A}|}
\end{aligned}$$

$$\text{proj}_{\boldsymbol{A}}\ \boldsymbol{B} = \left(\boldsymbol{B}\cdot\frac{\boldsymbol{A}}{|\boldsymbol{A}|}\right)\frac{\boldsymbol{A}}{|\boldsymbol{A}|} = \left(\frac{\boldsymbol{B}\cdot\boldsymbol{A}}{\boldsymbol{A}\cdot\boldsymbol{A}}\right)\boldsymbol{A} \tag{۱۰}$$

۱۷۹۳۳ عدد $|\boldsymbol{B}|\cos\theta$ کو $\boldsymbol{B}$ کا $\boldsymbol{A}$ کے رخ غیر سمتی جزو کہتے ہیں۔ درج ذیل کی بنا

$$|\boldsymbol{B}|\cos\theta = \boldsymbol{B}\cdot\frac{\boldsymbol{A}}{|\boldsymbol{A}|} \tag{۱۱}$$

۱۷۹۳۴ ہم غیر سمتی جزو حاصل کرنے کی خاطر $\boldsymbol{B}$ کا ضرب نقطہ $\boldsymbol{A}$ کے رخ کے ساتھ لیں گے۔ مساوات ۱۰ کہتی ہے کہ $\boldsymbol{B}$ کا $\boldsymbol{A}$ پر تطلیل، $\boldsymbol{A}$ کے رخ $\boldsymbol{B}$
۱۷۹۳۵ کے غیر سمتی جزو ضرب رخ $\boldsymbol{A}$ کے برابر ہو گا۔

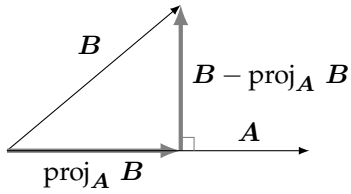

شکل ۱۱.۳۱: سمتیہ $\boldsymbol{B}$ کو سمتیہ $\boldsymbol{A}$ کے عمودی اور متوازی سمتیات کا مجموعہ لکھنا۔

۱۷۹۳۶ جہاں مساوات ۱۰ کا پہلا حصہ $\boldsymbol{A}$ کے رخ $\boldsymbol{B}$ کے اثر کی بات کرتی ہے، اس کا دوسرا حصہ حساب کے لئے موزوں ہے چونکہ یہ جذر سے چھٹکارا دیتا ہے۔

۱۷۹۳۷ مثال ۱۱.۲۳: سمتیہ $\boldsymbol{B} = 6\boldsymbol{i} + 3\boldsymbol{j} + 2\boldsymbol{k}$ کا $\boldsymbol{A} = \boldsymbol{i} - 2\boldsymbol{j} - 2\boldsymbol{k}$ پر سمتی تظلیل تلاش کریں اور $\boldsymbol{A}$ کے رخ $\boldsymbol{B}$ کا غیر سمتی
۱۷۹۳۸ جزو تلاش کریں۔

۱۷۹۳۹ حل: ہم مساوات ۱۰ استعمال کر کے سکتی تظلیل تلاش کرتے ہیں۔

$$\begin{aligned}\text{proj}_{\boldsymbol{A}}\ \boldsymbol{B} &= \frac{\boldsymbol{B}\cdot\boldsymbol{A}}{\boldsymbol{A}\cdot\boldsymbol{A}}\boldsymbol{A} = \frac{6-6-4}{1+4+4}(\boldsymbol{i}-2\boldsymbol{j}-2\boldsymbol{k})\\ &= -\frac{4}{9}(\boldsymbol{i}-2\boldsymbol{j}-2\boldsymbol{k}) = -\frac{4}{9}\boldsymbol{i}+\frac{8}{9}\boldsymbol{j}+\frac{8}{9}\boldsymbol{k}\end{aligned}$$

۱۷۹۴۰ ہم $\boldsymbol{A}$ کے رخ $\boldsymbol{B}$ کا غیر سمتی جزو مساوات ۱۱ کی مدد سے حاصل کرتے ہیں۔

$$\begin{aligned}|\boldsymbol{B}|\cos\theta = \boldsymbol{B}\cdot\frac{\boldsymbol{A}}{|\boldsymbol{A}|} &= (6\boldsymbol{i}+3\boldsymbol{j}+2\boldsymbol{k})\cdot\left(\frac{1}{3}\boldsymbol{i}-\frac{2}{3}\boldsymbol{j}-\frac{2}{3}\boldsymbol{k}\right)\\ &= 2-2-\frac{4}{3} = -\frac{4}{3}\end{aligned}$$

۱۷۹۴۱ □

۱۷۹۴۲ **سمتیہ کو عمودی سمتیات کا مجموعہ لکھنا**

۱۷۹۴۳ میکانیات میں ہمیں عموماً ایک سمتیہ $\boldsymbol{B}$ کو سمتیہ $\boldsymbol{A}$ کے متوازی سمتیہ اور $\boldsymbol{A}$ کے عمودی سمتیہ کا مجموعہ کی صورت میں لکھنا ہوتا ہے۔ ہم ایسا درج ذیل
۱۷۹۴۴ مساوات کی مدد سے کر سکتے ہیں (شکل ۱۱.۳۱)۔

$$\begin{aligned}\boldsymbol{B} &= \text{proj}_{\boldsymbol{A}}\ \boldsymbol{B} + (\boldsymbol{B} - \text{proj}_{\boldsymbol{A}}\ \boldsymbol{B})\\ &= \underbrace{\left(\frac{\boldsymbol{B}\cdot\boldsymbol{A}}{\boldsymbol{A}\cdot\boldsymbol{A}}\right)\boldsymbol{A}}_{\boldsymbol{A}\text{ کا متوازی}} + \underbrace{\left(\boldsymbol{B} - \left(\frac{\boldsymbol{B}\cdot\boldsymbol{A}}{\boldsymbol{A}\cdot\boldsymbol{A}}\right)\boldsymbol{A}\right)}_{\boldsymbol{A}\text{ کا عمودی}}\end{aligned} \tag{۱۲}$$

۱۷۹۴۵ مثال ۱۱.۲۴: سمتیہ $\boldsymbol{B} = 2\boldsymbol{i} + \boldsymbol{j} - 3\boldsymbol{k}$ کو سمتیہ $\boldsymbol{A} = 3\boldsymbol{i} - \boldsymbol{j}$ کے متوازی سمتیہ اور $\boldsymbol{A}$ کے عمودی سمتیہ کا مجموعہ لکھیں۔

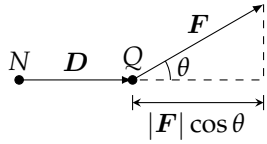

شکل ۱۱.۳۲: ہٹاو $\boldsymbol{D}$ کے دوران مستقل قوت $\boldsymbol{F}$ کا کام $(|\boldsymbol{F}|\cos\theta)|\boldsymbol{D}|$ ہوگا۔

۱۷۹۳۶ حل: ہم درج ذیل

$$\boldsymbol{A}\cdot\boldsymbol{B} = 6-1=5, \quad \boldsymbol{A}\cdot\boldsymbol{A} = 9+1=10$$

۱۷۹۳۷ کو مساوات ۱۲ میں پر کرتے ہیں۔

$$\begin{aligned}\boldsymbol{B} = \frac{\boldsymbol{B}\cdot\boldsymbol{A}}{\boldsymbol{A}\cdot\boldsymbol{A}}\boldsymbol{A} + \left(\boldsymbol{B} - \frac{\boldsymbol{B}\cdot\boldsymbol{A}}{\boldsymbol{A}\cdot\boldsymbol{A}}\boldsymbol{A}\right) &= \frac{5}{10}(3\boldsymbol{i}-\boldsymbol{j}) + \left(2\boldsymbol{i}+\boldsymbol{j}-3\boldsymbol{k} - \frac{5}{10}(3\boldsymbol{i}-\boldsymbol{j})\right)\\ &= \left(\frac{3}{2}\boldsymbol{i} - \frac{1}{2}\boldsymbol{j}\right) + \left(\frac{1}{2}\boldsymbol{i} + \frac{3}{2}\boldsymbol{j} - 3\boldsymbol{k}\right)\end{aligned}$$

۱۷۹۳۸ آپ تسلی کر لیں کہ دائیں ہاتھ پہلا جزو $\frac{1}{2}\boldsymbol{A}$ کے برابر ہے۔ دائیں ہاتھ دوسرا جزو درج ذیل کی وجہ سے $\boldsymbol{A}$ کو عمودی ہے۔

$$\left(\frac{1}{2}\boldsymbol{i} + \frac{3}{2}\boldsymbol{j} - 3\boldsymbol{k}\right)\cdot(3\boldsymbol{i}-\boldsymbol{j}) = \frac{3}{2} - \frac{3}{2} = 0$$

۱۷۹۳۹ □

۱۷۹۵۰ کام

۱۷۹۵۱ ہم نے حصہ ۶.۸ میں مستقل قوت F جو ایک جسم پر عمل کر کے اس کو قوت کے رخ d فاصلہ منتقل کرتی ہے کا کام کلیہ $W = Fd$ سے دریافت کیا۔
۱۷۹۵۲ یہ کلیہ صرف اس صورت درست ہوگا جب قوت کا رخ اور حرکت کا رخ ایک ہوں۔ اگر مستقل قوت $\boldsymbol{F}$ اور جسم کے ہٹاو $\boldsymbol{D} = \overrightarrow{NQ}$ کے رخ مختلف
۱۷۹۵۳ ہوں تب $\boldsymbol{D}$ کے رخ، $\boldsymbol{F}$ کا جزو کام کرے گا۔ اگر $\boldsymbol{F}$ اور $\boldsymbol{D}$ کے بیچ زاویہ θ ہو تب کام درج ذیل ہوگا (شکل ۱۱.۳۲)۔

$$\begin{aligned}\text{کام} &= (\boldsymbol{D}\text{ کی لمبائی})(\boldsymbol{D}\text{ کے رخ }\boldsymbol{F}\text{ کا غیر سمتی جزو})\\ &= (|\boldsymbol{F}|\cos\theta)|\boldsymbol{D}|\\ &= \boldsymbol{F}\cdot\boldsymbol{D}\end{aligned}$$

۱۷۹۵۴ تعریف: ہٹاو $\boldsymbol{D} = \overrightarrow{NQ}$ کے دوران مستقل قوت $\boldsymbol{F}$ کا کام

$$W = \boldsymbol{F}\cdot\boldsymbol{D} = |\boldsymbol{F}||\boldsymbol{D}|\cos\theta \tag{۱۳}$$

۱۷۹۵۵ ہوگا جہاں ہٹاو اور قوت کے بیچ زاویہ θ ہے۔

۱۷۹۵۶ □

۱۷۹۵۷ کام کی اکائی نیوٹن ضرب میٹر ہے جس کو عموماً **جاول**[۲۱] کہتے ہیں۔

۱۷۹۵۸ مثال ۱۱.۲۵: اگر $|\boldsymbol{F}| = 40\,\mathrm{N}$ اور $|\boldsymbol{D}| = 3\,\mathrm{m}$ ہوں اور $\theta = 60^\circ$ ہو تب کام درج ذیل ہوگا۔

$$\begin{aligned}\text{کام} &= |\boldsymbol{F}||\boldsymbol{D}|\cos\theta\\ &= (40)(3)\cos 60^\circ\\ &= (120)(\tfrac{1}{2})\\ &= 60\,\mathrm{J}\end{aligned}$$

۱۷۹۵۹ □

۱۷۹۶۰ **سوالات**

۱۷۹۶۱ سوال ۱۱.۱۲۳ تا سوال ۱۱.۱۳۲ میں درج ذیل دریافت کریں۔

۱۷۹۶۲ ا. $\boldsymbol{A}\cdot\boldsymbol{B}$ ، $|\boldsymbol{A}|$ ، $|\boldsymbol{B}|$

۱۷۹۶۳ ب. $\boldsymbol{A}$ اور $\boldsymbol{B}$ کے بیچ زاویہ کا کوسائن۔

۱۷۹۶۴ ج. $\boldsymbol{A}$ کے رخ $\boldsymbol{B}$ کا غیر سمتی جزو۔

۱۷۹۶۵ د. سمتیہ $\mathrm{proj}_{\boldsymbol{A}}\,\boldsymbol{B}$

۱۷۹۶۶ سوال ۱۱.۱۲۳: $\boldsymbol{A} = 2\boldsymbol{i} - 4\boldsymbol{j} + \sqrt{5}\boldsymbol{k}, \quad \boldsymbol{B} = -2\boldsymbol{i} + 4\boldsymbol{j} - \sqrt{5}\boldsymbol{k}$

۱۷۹۶۷ سوال ۱۱.۱۲۴: $\boldsymbol{A} = \frac{3}{5}\boldsymbol{i} + \frac{4}{5}\boldsymbol{k}, \quad \boldsymbol{B} = 5\boldsymbol{i} + 12\boldsymbol{j}$

۱۷۹۶۸ سوال ۱۱.۱۲۵: $\boldsymbol{A} = 10\boldsymbol{i} + 11\boldsymbol{j} - 2\boldsymbol{k}, \quad \boldsymbol{B} = 3\boldsymbol{j} + 4\boldsymbol{k}$

۱۷۹۶۹ سوال ۱۱.۱۲۶: $\boldsymbol{A} = 2\boldsymbol{i} + 10\boldsymbol{j} - 11\boldsymbol{k}, \quad \boldsymbol{B} = 2\boldsymbol{i} + 2\boldsymbol{j} + \boldsymbol{k}$

۱۷۹۷۰ سوال ۱۱.۱۲۷: $\boldsymbol{A} = -2\boldsymbol{i} + 7\boldsymbol{j}, \quad \boldsymbol{B} = \boldsymbol{k}$

۱۷۹۷۱ سوال ۱۱.۱۲۸: $\boldsymbol{A} = \frac{1}{\sqrt{2}}\boldsymbol{i} + \frac{1}{\sqrt{3}}\boldsymbol{j} + \frac{1}{\sqrt{6}}\boldsymbol{k}, \quad \boldsymbol{B} = \frac{1}{\sqrt{2}}\boldsymbol{j} - \boldsymbol{k}$

۱۷۹۷۲ سوال ۱۱.۱۲۹: $\boldsymbol{A} = 5\boldsymbol{j} - 3\boldsymbol{k}, \quad \boldsymbol{B} = \boldsymbol{i} + \boldsymbol{j} + \boldsymbol{k}$

۱۷۹۷۳ سوال ۱۱.۱۳۰: $\boldsymbol{A} = \boldsymbol{i} + \boldsymbol{k}, \quad \boldsymbol{B} = \boldsymbol{i} + \boldsymbol{j} + \boldsymbol{k}$

۱۷۹۷۴ سوال ۱۱.۱۳۱: $\boldsymbol{A} = -\boldsymbol{i} + \boldsymbol{j}, \quad \boldsymbol{B} = \sqrt{2}\boldsymbol{i} + \sqrt{3}\boldsymbol{j} + 2\boldsymbol{k}$

۱۷۹۷۵ سوال ۱۱.۱۳۲: $\boldsymbol{A} = -5\boldsymbol{i} + \boldsymbol{j}, \quad \boldsymbol{B} = 2\boldsymbol{i} + \sqrt{17}\boldsymbol{j} + 10\boldsymbol{k}$

---

[۲۱] joule

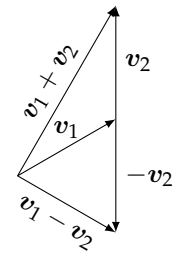

شکل ۱۱.۳۳: سمتیات برائے سوال ۱۱.۱۳۷

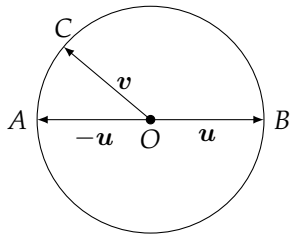

شکل ۱۱.۳۴: دائرہ برائے سوال ۱۱.۱۳۸

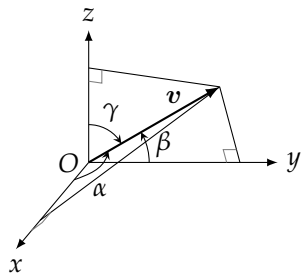

شکل ۱۱.۳۵: زاویات رخ اور کوسائن رخ کی تعریف برائے سوال ۱۱.۱۴۴۔

سوال ۱۱.۱۳۳: سمتیہ $\boldsymbol{B} = 3\boldsymbol{j} + 4\boldsymbol{k}$ کو سمتیہ $\boldsymbol{A} = \boldsymbol{i} + \boldsymbol{j}$ کے عمودی سمتیہ اور $\boldsymbol{A}$ کے متوازی سمتیہ کا مجموعہ لکھیں۔

سوال ۱۱.۱۳۴: سمتیہ $\boldsymbol{B} = \boldsymbol{j} + \boldsymbol{k}$ کو سمتیہ $\boldsymbol{A} = \boldsymbol{i} + \boldsymbol{j}$ کے عمودی سمتیہ اور $\boldsymbol{A}$ کے متوازی سمتیہ کا مجموعہ لکھیں۔

سوال ۱۱.۱۳۵: سمتیہ $\boldsymbol{B} = 8\boldsymbol{i} + 4\boldsymbol{j} - 12\boldsymbol{k}$ کو سمتیہ $\boldsymbol{A} = \boldsymbol{i} + 2\boldsymbol{j} - \boldsymbol{k}$ کے عمودی سمتیہ اور $\boldsymbol{A}$ کے متوازی سمتیہ کا مجموعہ لکھیں۔

سوال ۱۱.۱۳۶: سمتیہ $\boldsymbol{B} = \boldsymbol{i} + (\boldsymbol{j} + \boldsymbol{k})$ پہلے سے سمتیہ $\boldsymbol{i}$ کے متوازی سمتیہ اور $\boldsymbol{i}$ کے عمودی سمتیہ کا مجموعہ ہے۔ اگر مساوات ۱۲ میں $\boldsymbol{A} = \boldsymbol{i}$ ہو تب کیا $\boldsymbol{B}_{\parallel,\boldsymbol{A}} = \boldsymbol{i}$ اور $\boldsymbol{B}_{\perp,\boldsymbol{A}} = \boldsymbol{j} + \boldsymbol{k}$ ملتے ہیں۔ (متوازی اور عمودی اجزاء کو بالترتیب زیر نوشت $\parallel$ اور $\perp$ سے ظاہر کیا جاتا ہے۔)

جیومیٹری

سوال ۱۱.۱۳۷: مجموعات اور فرق۔ ایسا معلوم ہوتا ہے کہ شکل ۱۱.۳۳ میں $\boldsymbol{v}_1 + \boldsymbol{v}_2$ اور $\boldsymbol{v}_1 - \boldsymbol{v}_2$ عمودی ہیں۔ کیا یہ محض ایک اتفاق ہے یا ہم توقع کر سکتے ہیں کہ کسی بھی دو سمتیات کا مجموعہ اور فرق عمودی ہوں گے؟ اپنے جواب کی وجہ پیش کریں۔

سوال ۱۱.۱۳۸: ایک دائرہ جس کا مرکز O ہے کا قطر AB ہے۔ نقطہ C دائرے پر پایا جاتا ہے (شکل ۱۱.۳۴)۔ دکھائیں کہ $\overrightarrow{CA}$ اور $\overrightarrow{CB}$ عمودی ہوں گے۔

سوال ۱۱.۱۳۹: دکھائیں کہ یکساں اضلاع کے متوازی الاضلاع کے وتر ایک دوسرے کے عمودی ہوتے ہیں۔

سوال ۱۱.۱۴۰: دکھائیں کہ مربع وہ واحد مستطیل ہے جس کے وتر عمودی ہوتے ہیں۔

سوال ۱۱.۱۴۱: ثابت کریں کہ ایک متوازی الاضلاع صرف اور صرف اس صورت مستطیل ہو گا جب اس کے وتروں کی لمبائی ایک سی ہو۔ ترکھان اس حقیقت کو عموماً استعمال کرتا ہے۔

سوال ۱۱.۱۴۲: متوازی الاضلاع کے قریبی ضلع $\boldsymbol{u}$ اور $\boldsymbol{v}$ ہیں۔ دکھائیں کہ ان کے مشترکہ راس سے مخالف راس تک وتر، سمتیات $\boldsymbol{u}$ اور $\boldsymbol{v}$ کے بیچ زاویہ کو دو برابر حصوں میں تقسیم کرتا ہے۔

سوال ۱۱.۱۴۳: ایک اہرام کے مربع قاعدہ $OABC$ کے ضلع کی لمبائی 1 اکائی ہے اور اہرام کی چوٹی D ہے۔ اہرام کا قد بھی 1 اکائی ہے۔ یوں نقطہ D ٹھیک وتر OB کے وسطی نقطہ کے سیدھا اوپر ہو گا۔ قطعہ $\overrightarrow{OB}$ اور $\overrightarrow{OD}$ کے بیچ زاویہ تلاش کریں۔

سوال ۱۱.۱۴۴: زاویات رخ اور کوسائن رخ

سمتیہ $\boldsymbol{v} = a\boldsymbol{i} + b\boldsymbol{j} + c\boldsymbol{k}$ کے زاویات رخ α ، β اور γ کی تعریف درج ذیل ہے (شکل ۱۱.۳۵)۔

مثبت محور x اور $\boldsymbol{v}$ کے بیچ زاویہ α ہے ($0 \leq \alpha \leq \pi$)،

مثبت محور y اور $\boldsymbol{v}$ کے بیچ زاویہ β ہے ($0 \leq \beta \leq \pi$)،

مثبت محور z اور $\boldsymbol{v}$ کے بیچ زاویہ γ ہے ($0 \leq \gamma \leq \pi$)۔

ا. درج ذیل

$$\cos\alpha = \frac{a}{|\boldsymbol{v}|}, \quad \cos\beta = \frac{b}{|\boldsymbol{v}|}, \quad \cos\gamma = \frac{c}{|\boldsymbol{v}|}$$

اور $\cos^2\alpha + \cos^2\beta + \cos^2\gamma = 1$ دکھائیں۔ ان کو سائن کو **کوسائن رخ**[۲۲] کہتے ہیں۔

ب. کوسائن رخ اور اکائی سمتیات۔ دکھائیں کہ اگر $\boldsymbol{v} = a\boldsymbol{i} + b\boldsymbol{j} + c\boldsymbol{k}$ ایک اکائی سمتیہ ہو تب a ، b اور c سمتیہ $\boldsymbol{v}$ کے کوسائن رخ ہوں گے۔

سمتیات کے بیچ زاویے

سوال ۱۱.۱۴۵ تا سوال ۱۱.۱۴۸ میں کیلکولیٹر کی مدد سے سمتیات کے بیچ زاویات کو، ایک فی صد درست، ریڈیئن میں تلاش کریں۔

سوال ۱۱.۱۴۵: $\boldsymbol{A} = 2\boldsymbol{i} + \boldsymbol{j}, \quad \boldsymbol{B} = \boldsymbol{i} + 2\boldsymbol{j} - \boldsymbol{k}$

سوال ۱۱.۱۴۶: $\boldsymbol{A} = 2\boldsymbol{i} - 2\boldsymbol{j} + \boldsymbol{k}, \quad \boldsymbol{B} = 3\boldsymbol{i} + 4\boldsymbol{k}$

سوال ۱۱.۱۴۷: $\boldsymbol{A} = \sqrt{3}\boldsymbol{i} - 7\boldsymbol{j}, \quad \boldsymbol{B} = \sqrt{3}\boldsymbol{i} + \boldsymbol{j} - 2\boldsymbol{k}$

سوال ۱۱.۱۴۸: $\boldsymbol{A} = \boldsymbol{i} + \sqrt{2}\boldsymbol{j} - \sqrt{2}\boldsymbol{k}, \quad \boldsymbol{B} = -\boldsymbol{i} + \boldsymbol{j} + \boldsymbol{k}$

سوال ۱۱.۱۴۹ تا سوال ۱۱.۱۵۱ میں کیلکولیٹر کی مدد سے سمتیات کے بیچ زاویات کو، ایک فی صد درست، ریڈیئن میں تلاش کریں۔

سوال ۱۱.۱۴۹: مثلث ABC کے اندرونی زاویات۔ مثلث کے راس $A(-1,0,2)$ ، $B(2,1,-1)$ اور $C(1,-2,2)$ ہیں۔

سوال ۱۱.۱۵۰: سمتیات $\boldsymbol{A} = 2\boldsymbol{i} + 2\boldsymbol{j} + \boldsymbol{k}$ اور $\boldsymbol{B} = 2\boldsymbol{i} + 10\boldsymbol{j} - 11\boldsymbol{k}$ کے بیچ زاویہ۔

سوال ۱۱.۱۵۱: مکعب کے وتر اور مکعب کی ایک سطح کے وتر کے بیچ زاویہ۔ (اشارہ: ایسا مکعب استعمال کریں جس کے کنارے $\boldsymbol{i}$ ، $\boldsymbol{j}$ اور $\boldsymbol{k}$ ہوں۔)

سوال ۱۱.۱۵۲: پانی کی نالی میں ایک جوڑ ہے۔ اس جوڑ سے شمال رخ نالی کا ڈھلوان $10\,\%$ ہے جبکہ جوڑ سے مشرق رخ نالی کا ڈھلوان $20\,\%$ ہے۔ اس جوڑ پر نالی کے دو حصوں کے بیچ زاویہ کتنا ہو گا؟

نظریہ اور مثالیں

سوال ۱۱.۱۵۳:

ا. کسی بھی سمتیات $\boldsymbol{u}$ اور $\boldsymbol{v}$ کے لئے عدم مساوات $|\boldsymbol{u}\cdot\boldsymbol{v}| \leq |\boldsymbol{u}||\boldsymbol{v}|$ کو $\boldsymbol{u}\cdot\boldsymbol{v} = |\boldsymbol{u}||\boldsymbol{v}|\cos\theta$ کی مدد سے دکھائیں۔

ب. کیا کبھی $|\boldsymbol{u}\cdot\boldsymbol{v}| = |\boldsymbol{u}||\boldsymbol{v}|$ ہو سکتا ہے؟ اگر ہو سکتا ہے تب کب ایسا ہو گا؟ اپنے جواب کی وجہ پیش کریں۔

---

[۲۲] directioncosines

سوال ۱۱.۱۵۴: مستوی xy میں عمومی سمتیہ $\boldsymbol{v}$ بنائیں۔اب ان نقطوں (x, y) کی نشاندہی کریں جن پر $(x\boldsymbol{i} + y\boldsymbol{j}) \cdot \boldsymbol{v} = 0$ ہوگا۔ اپنے جواب کی وجہ پیش کریں۔

سوال ۱۱.۱۵۵: اگر $\boldsymbol{u}_1$ اور $\boldsymbol{u}_2$ عمودی اکائی سمتیات ہوں اور $\boldsymbol{v} = a\boldsymbol{u}_1 + b\boldsymbol{u}_2$ ہو تب $\boldsymbol{v} \cdot \boldsymbol{u}_1$ تلاش کریں۔

سوال ۱۱.۱۵۶: ضرب نقطہ میں مشترک اجزاء کی منسوخی

حقیقی اعداد کے ضرب میں اگر $ab_1 = ab_2$ ہو اور a غیر صفر ہو تب دونوں اطراف a کو منسوخ کر کے $b_1 = b_2$ لکھا جا سکتا ہے۔کیا ضرب نقطہ میں ایسا کرنا ممکن ہوگا: یعنی اگر $\boldsymbol{A} \cdot \boldsymbol{B}_1 = \boldsymbol{A} \cdot \boldsymbol{B}_2$ ہو تب کیا دونوں اطراف $\boldsymbol{A}$ منسوخ کر کے $\boldsymbol{B}_1 = \boldsymbol{B}_2$ لکھا جا سکتا ہے؟۔اپنے جواب کی وجہ پیش کریں۔

سوال ۱۱.۱۵۷: فرض کریں $\boldsymbol{A}$ ، $\boldsymbol{B}$ اور $\boldsymbol{C}$ آپس میں عمودی سمتیات ہیں۔اب $\boldsymbol{D} = 5\boldsymbol{A} - 6\boldsymbol{B} + 3\boldsymbol{C}$ لیں۔

ا. اگر $\boldsymbol{A}$ ، $\boldsymbol{B}$ اور $\boldsymbol{C}$ اکائی سمتیات ہوں تب $\boldsymbol{D}$ کی مقدار $|\boldsymbol{D}|$ تلاش کریں۔

ب. اگر $|\boldsymbol{A}| = 2$ ، $|\boldsymbol{B}| = 3$ اور $|\boldsymbol{C}| = 4$ ہوں تب $|\boldsymbol{D}|$ کتنا ہوگا؟

سوال ۱۱.۱۵۸: فرض کریں $\boldsymbol{A}$ ، $\boldsymbol{B}$ اور $\boldsymbol{C}$ آپس میں عمودی اکائی سمتیات ہیں۔اگر $\boldsymbol{D} = \alpha\boldsymbol{A} + \beta\boldsymbol{B} + \gamma\boldsymbol{C}$ ہو جہاں α ، β اور γ غیر سمتی ہیں تب دکھائیں کہ $\alpha = \boldsymbol{D} \cdot \boldsymbol{A}$ ، $\beta = \boldsymbol{D} \cdot \boldsymbol{B}$ اور $\gamma = \boldsymbol{D} \cdot \boldsymbol{C}$ ہوں گے۔

کام

سوال ۱۱.۱۵۹: قوت $\boldsymbol{F} = 5\boldsymbol{k}$ (مقدار 5 نیوٹن) سیدھی لکیر پر مبدا سے نقطہ $(1, 1, 1)$ تک ایک جسم کو منتقل کرتا ہے (فاصلہ میٹر میں ہے)۔یہ قوت کتنا کام کرتی ہے؟

سوال ۱۱.۱۶۰: ایک ریل گاڑی کا انجن 6000 ٹن کمیت کی ریل گاڑی کو 602 148 N قوت سے کھینچ سکتا ہے۔ایک افقی سیدھی پٹڑی پر 605 کلو میٹر فاصلہ طے کر کے یہ انجن کتنا کام کرتا ہے؟

سوال ۱۱.۱۶۱: ایک بوجھ کو 20 m لمبی ڈھلوان پر 200 N قوت کھینچتی ہے۔افقی سطح کے ساتھ یہ قوت 30° کا زاویہ بناتی ہے۔یہ قوت کتنا کام کرتی ہے؟

سوال ۱۱.۱۶۲: ایک کشتی کے بادبان پر ہوا 2000 N قوت لگاتی ہے۔افقی سطح کے ساتھ قوت کا زاویہ 60° ہے۔ایک کلو میٹر فاصل طے کرنے میں یہ قوت کتنا کام کرتی ہے؟

مستوی میں خط کی مساواتیں

سوال ۱۱.۱۶۳: دکھائیں کہ سمتیہ $\boldsymbol{v} = a\boldsymbol{i} + b\boldsymbol{j}$ لکیر $ax + by = c$ کو عمودی ہے۔ایسا کرنے کی خاطر دکھائیں کہ اس لکیر کا ڈھلوان، اس سمتیہ کا ڈھلوان کے بالعکس متناسب کا نفی ہے۔

سوال ۱۱.۱۶۴: دکھائی کہ سمتیہ $\boldsymbol{v} = a\boldsymbol{i} + b\boldsymbol{j}$ لکیر $bx - ay = c$ کے متوازی ہے۔ایسا کرنے کی خاطر دکھائیں کہ لکیر کا ڈھلوان اور سمتیہ کا ڈھلوان ایک دوسرے جیسے ہیں۔

سوال ۱۱.۱۶۵ تا سوال ۱۱.۱۶۸ میں سوال ۱۱.۱۶۳ کا نتیجہ استعمال کر کے نقطہ N پر $\boldsymbol{v}$ کے عمودی خط کی مساوات دریافت کریں۔ اس لکیر کو ترسیم کر کے مبدا پر اس عمودی سمتیہ کا بھی خاکہ بنائیں۔

سوال ۱۱.۱۶۵: $N(2,1), \quad \boldsymbol{v} = \boldsymbol{i} + 2\boldsymbol{j}$

سوال ۱۱.۱۶۶: $N(-1,2), \quad \boldsymbol{v} = -2\boldsymbol{i} - \boldsymbol{j}$

سوال ۱۱.۱۶۷: $N(-2,-7), \quad \boldsymbol{v} = -2\boldsymbol{i} + \boldsymbol{j}$

سوال ۱۱.۱۶۸: $N(11,10), \quad \boldsymbol{v} = 2\boldsymbol{i} - 3\boldsymbol{j}$

سوال ۱۱.۱۶۹ تا سوال ۱۱.۱۷۲ میں سوال ۱۱.۱۶۴ کا نتیجہ استعمال کر کے نقطہ N پر $\boldsymbol{v}$ کے متوازی خط کی مساوات دریافت کریں۔ اس لکیر کو ترسیم کر کے مبدا پر اس متوازی سمتیہ کا بھی خاکہ بنائیں۔

سوال ۱۱.۱۶۹: $N(-2,1), \quad \boldsymbol{v} = \boldsymbol{i} - \boldsymbol{j}$

سوال ۱۱.۱۷۰: $N(0,-2), \quad \boldsymbol{v} = 2\boldsymbol{i} + 3\boldsymbol{j}$

سوال ۱۱.۱۷۱: $N(1,2), \quad \boldsymbol{v} = -\boldsymbol{i} - 2\boldsymbol{j}$

سوال ۱۱.۱۷۲: $N(1,3), \quad \boldsymbol{v} = 3\boldsymbol{i} - 2\boldsymbol{j}$

مستوی میں خطوط کے بیچ زاویے

دو مستوی خط جن کے بیچ زاویہ حادہ جو قائمہ نہ ہو وہی ہو گا جو ان خطوط کے عمودی دو سمتیات کے بیچ یا ان خطوط کے متوازی دو سمتیات کے بیچ ہو گا۔ اس حقیقت کے ساتھ سوال ۱۱.۱۶۳ یا سوال ۱۱.۱۶۴ کا نتیجہ استعمال کرتے ہوئے سوال ۱۱.۱۷۳ تا سوال ۱۱.۱۷۶ میں خطوط کے بیچ زاویہ تلاش کریں۔

سوال ۱۱.۱۷۳: $3x + y = 5, \quad 2x - y = 4$

سوال ۱۱.۱۷۴: $y = \sqrt{3}x - 1, \quad y = -\sqrt{3}x + 2$

سوال ۱۱.۱۷۵: $\sqrt{3}x - y = -2, \quad x - \sqrt{3}y = 1$

سوال ۱۱.۱۷۶: $x + \sqrt{3}y = 1, \quad (1-\sqrt{3})x + (1+\sqrt{3})y = 8$

سوال ۱۱.۱۷۷ اور سوال ۱۱.۱۷۸ میں خطوط کے بیچ ایک ریڈیئن کے سواں حصہ تک زاویہ حادہ تلاش کریں۔

سوال ۱۱.۱۷۷: $3x - 4y = 3, \quad x - y = 7$

سوال ۱۱.۱۷۸: $12x + 5y = 1, \quad 2x - 2y = 3$

قابل تفرق منحنیات کے بیچ زاویہ

دو قابل تفرق منحنیات کے نقطہ تقاطع پر ان کے بیچ زاویہ سے مراد اس نقطہ پر منحنیات کے مماس کے بیچ زاویہ ہے۔ سوال ۱۱.۱۷۹ تا سوال ۱۱.۱۸۲ میں منحنیات کے بیچ زاویات دو نقاط تقاطع پر معلوم کریں۔ (آپ کو کیلکولیٹر کی ضرورت پیش نہیں آئے گی۔)

سوال ۱۱.۱۷۹: $y = \frac{3}{2} - x^2, \quad y = x^2$

سوال ۱۱.۱۸۰: $x = \frac{3}{4} - y^2, \quad x = y^2 - \frac{3}{4}$

سوال ۱۱.۱۸۱: $y = x^3, \quad x = y^2$

سوال ۱۱.۱۸۲: $y = -x^2, \quad y = \sqrt[3]{x}$

۱۱.۴ صلیبی ضرب

اس حصہ میں سمتیات کے ضرب کی دوسری قسم پر غور کیا جائے گا جس کو صلیبی ضرب کہتے ہیں۔ چونکہ صلیبی ضرب کا حاصل سمتی ہوتا ہے لہٰذا اس ضرب کو **سمتی ضرب**[۲۳] بھی کہتے ہیں۔

برقیات، مقناطیسیت، صلیبی ضرب، حرکت سیال اور میکانیات مدار میں قوتوں کے اثرات پر غور میں صلیبی ضرب اہم کردار ادا کرتے ہیں۔ آئیں صلیبی ضرب کے خواص پر غور کریں۔

دو سمتیات کا صلیبی ضرب

ہم خلا میں دو غیر صفر سمتیات $\boldsymbol{A}$ اور $\boldsymbol{B}$ سے شروع کرتے ہیں۔ غیر متوازی سمتیات $\boldsymbol{A}$ اور $\boldsymbol{B}$ سطح کو ظاہر کرتے ہیں۔ ہم **دائیں ہاتھ قاعدہ** سے اس سطح پر عمودی اکائی سمتیہ $\boldsymbol{n}$ منتخب کرتے ہیں۔ یوں سطح میں $\boldsymbol{A}$ سے $\boldsymbol{B}$ کی جانب دائیں ہاتھ کی انگلیاں، زاویہ θ موڑنے سے، انگوٹھا $\boldsymbol{n}$ کا رخ دے گا (شکل ۱۱.۳۶)۔ دائیں ہاتھ کی انگلیاں موڑتے ہوئے زاویہ $0 \le \theta \le \pi$ لیا جاتا ہے۔ ہم سمتی ضرب $\boldsymbol{A} \times \boldsymbol{B}$ کی تعریف درج ذیل لیتے ہیں۔

تعریف:

$$\boldsymbol{A} \times \boldsymbol{B} = (|\boldsymbol{A}||\boldsymbol{B}| \sin\theta)\boldsymbol{n} \tag{۱}$$

□

چونکہ سمتیہ $\boldsymbol{A} \times \boldsymbol{B}$ اکائی عمودی سمتیہ $\boldsymbol{n}$ کا غیر سمتی مضرب ہے لہٰذا یہ $\boldsymbol{A}$ اور $\boldsymbol{B}$ دونوں کو عمودی ہوگا۔ سمتیات $\boldsymbol{A}$ اور $\boldsymbol{B}$ کے سمتی ضرب کو عموماً $\boldsymbol{A}$ اور $\boldsymbol{B}$ کا **صلیبی ضرب**[۲۴] کہتے ہیں۔ صلیبی ضرب کو صلیب کے نشان $\times$ سے ظاہر کیا جاتا ہے اور اسی کی وجہ سے یہ صلیبی ضرب کہلاتا ہے۔

چونکہ 0 اور π کے سائن صفر ہوتے ہیں لہٰذا ہم مساوات ۱ میں دو غیر صفر متوازی سمتیات کے صلیبی ضرب کی تعریف $\boldsymbol{0}$ لیں گے۔

اگر $\boldsymbol{A}$ یا $\boldsymbol{B}$ صفر ہو تب ہم $\boldsymbol{A} \times \boldsymbol{B}$ کی قیمت صفر لیں گے۔ یوں دو سمتیات $\boldsymbol{A}$ اور $\boldsymbol{B}$ کا صلیبی ضرب صرف اور صرف اس صورت صفر ہوگا جب $\boldsymbol{A}$ اور $\boldsymbol{B}$ متوازی ہوں یا ان میں سے ایک یا دونوں صفر ہوں۔ اس طرح غیر صفر سمتیات کا صلیبی ضرب صرف اور صرف اس صورت صفر ہوگا جب یہ متوازی ہوں۔

---

[۲۳] vectorproduct
[۲۴] crossproduct

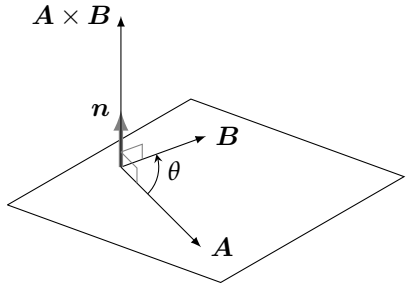

شکل ۱۱.۳۶: صلیبی ضرب $\boldsymbol{A} \times \boldsymbol{B}$

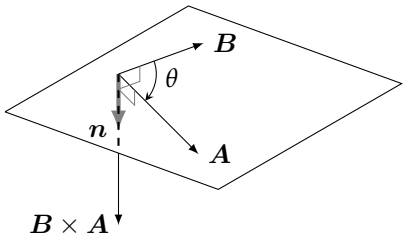

شکل ۱۱.۳۷: صلیبی ضرب $\boldsymbol{B} \times \boldsymbol{A}$

$\boldsymbol{A} \times \boldsymbol{B}$ بالمقابل $\boldsymbol{B} \times \boldsymbol{A}$

غیر صفر سمتی ضرب میں سمتیات کی ترتیب بدلنے سے حاصل ضرب کی سمت الٹ ہوتی ہے۔ اگر ہم سمتیہ $\boldsymbol{B}$ سے $\boldsymbol{A}$ کی جانب دائیں ہاتھ کی انگلیوں کو، زاویہ θ موڑیں، تب ہمارا انگوٹھا پہلے رخ کا مخالف رخ دے گا (یہاں پہلے رخ سے مراد $\boldsymbol{B} \times \boldsymbol{A}$ کے حصول میں انگوٹھے کا رخ ہے)۔ دائیں ہاتھ کی انگلیاں موڑتے ہوئے زاویہ $0 \leq \theta \leq \pi$ لیا جاتا ہے۔ شکل ۱۱.۳۷ میں ان نتائج کو دکھایا گیا ہے۔ یوں تمام سمتیات $\boldsymbol{A}$ اور $\boldsymbol{B}$ کے لئے درج ذیل ہو گا۔

$$\boldsymbol{B} \times \boldsymbol{A} = -(\boldsymbol{A} \times \boldsymbol{B}) \tag{۲}$$

ضرب نقطہ کے برعکس صلیبی ضرب **ناقابل تبادلہ**[۲۵] ہے۔

صلیبی ضرب کی تعریف $\boldsymbol{i}$ ، $\boldsymbol{j}$ اور $\boldsymbol{k}$ کی جوڑیوں پر لاگو کرتے ہوئے درج ذیل نتائج حاصل ہوتے ہیں جنہیں دکھائے گئے دائرے سے باآسانی یاد رکھا جا سکتا ہے۔

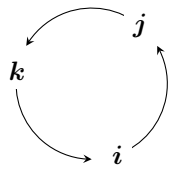

$$\begin{aligned}
\boldsymbol{i} \times \boldsymbol{j} &= -(\boldsymbol{j} \times \boldsymbol{i}) = \boldsymbol{k} \\
\boldsymbol{j} \times \boldsymbol{k} &= -(\boldsymbol{k} \times \boldsymbol{j}) = \boldsymbol{i} \\
\boldsymbol{k} \times \boldsymbol{i} &= -(\boldsymbol{i} \times \boldsymbol{k}) - \boldsymbol{j}
\end{aligned} \tag{۳}$$

اکائی سمتیات کے ہم صلیبی ضرب صفر ہوں گے:

$$\begin{aligned}
\boldsymbol{i} \times \boldsymbol{i} &= (|\boldsymbol{i}||\boldsymbol{i}| \sin 0^\circ)\boldsymbol{n} = ((1)(1)(0))\boldsymbol{n} = 0 \\
\boldsymbol{j} \times \boldsymbol{j} &= (|\boldsymbol{j}||\boldsymbol{j}| \sin 0^\circ)\boldsymbol{n} = ((1)(1)(0))\boldsymbol{n} = 0 \\
\boldsymbol{k} \times \boldsymbol{k} &= (|\boldsymbol{k}||\boldsymbol{k}| \sin 0^\circ)\boldsymbol{n} = ((1)(1)(0))\boldsymbol{n} = 0
\end{aligned}$$

---

[۲۵] noncommutative

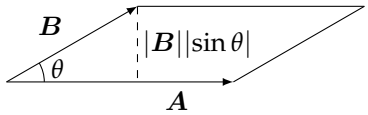

شکل ۱۱.۳۸: متوازی الاضلاع کا رقبہ اس کے قاعدہ ضرب قد کے برابر ہوتا ہے۔

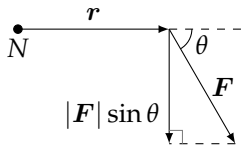

شکل ۱۱.۳۹: قوت مروڑ۔

۱۸۱۲ **صلیبی ضرب $\boldsymbol{A}\times\boldsymbol{B}$ متوازی الاضلاع کا رقبہ ہو گا**

۱۸۱۳ چونکہ $\boldsymbol{n}$ اکائی سمتیہ ہے لہٰذا $\boldsymbol{A}\times\boldsymbol{B}$ کی مقدار

$$|\boldsymbol{A}\times\boldsymbol{B}| = |\boldsymbol{A}||\boldsymbol{B}||\sin\theta||\boldsymbol{n}| = |\boldsymbol{A}||\boldsymbol{B}|\sin\theta \tag{۴}$$

۱۸۱۴ ہو گی جو اس متوازی الاضلاع کا رقبہ ہے جس کے ضلع $\boldsymbol{A}$ اور $\boldsymbol{B}$ ہیں۔ اس متوازی الاضلاع کا قاعدہ $|\boldsymbol{A}|$ جبکہ اس کا قد $|\boldsymbol{B}\sin\theta|$ ہے (شکل
۱۸۱۵ ۱۱.۳۸)۔

۱۸۱۶ **قوت مروڑ**

۱۸۱۷ نقطہ N پر چول کے ساتھ سلاخ کا ایک سرا منسلک ہے جس کے دوسرے سے پر قوت $\boldsymbol{F}$ عمل کرتی ہے۔ چول سے سلاخ کے دوسرے سرا تک ہٹاو کو سمتیہ
۱۸۱۸ $\boldsymbol{r}$ ظاہر کرتا ہے (شکل ۱۱.۳۹)۔ قوت مروڑ کی مقدار سے مراد ہم $\boldsymbol{r}$ کی لمبائی ضرب قوت کا وہ حصہ جو $\boldsymbol{r}$ کو عمودی ہے، لیتے ہیں۔ علامتی طور پر ہم قوت
۱۸۱۹ مروڑ سمتیہ کی مقدار کو

$$\text{قوت مروڑ سمتیہ کی مقدار} = |\boldsymbol{r}||\boldsymbol{F}|\sin\theta$$

۱۸۲۰ یا $|\boldsymbol{r}\times\boldsymbol{F}|$ لکھ سکتے ہیں۔ ہم دائیں ہاتھ قاعدہ سے حاصل اکائی سمتیہ $\boldsymbol{n}$ استعمال کرتے ہوئے قوت مروڑ سمتیہ کو درج ذیل لکھ سکتے ہیں۔

$$\text{قوت مروڑ سمتیہ} = (|\boldsymbol{r}||\boldsymbol{F}|\sin\theta)\boldsymbol{n} = \boldsymbol{r}\times\boldsymbol{F}$$

۱۸۲۱ یاد رہے کہ (غیر صفر سمتیات کی صورت میں) $\boldsymbol{A}\times\boldsymbol{B}$ تب $\boldsymbol{0}$ ہوتا ہے جب $\boldsymbol{A}$ اور $\boldsymbol{B}$ متوازی ہوں۔ قوت مروڑ کی تعریف عین اس حقیقت کے
۱۸۲۲ مطابق ہے۔ یوں اگر قوت عین سلاخ کے متوازی عمل کرے تب حاصل قوت مروڑ صفر ہو گا۔

۱۸۲۳ مثال ۱۱.۲۶: قوت مروڑ کی مقدار شکل ۱۱.۴۰ میں درج ذیل ہو گی۔

$$\begin{aligned}\left|\overrightarrow{NQ}\times\boldsymbol{F}\right| &= \left|\overrightarrow{NQ}\right||\boldsymbol{F}|\sin 70^\circ \qquad \text{مساوات ۴}\\ &\approx (3)(20)(0.94)\\ &\approx 56.4\,\mathrm{N\,m}\end{aligned}$$

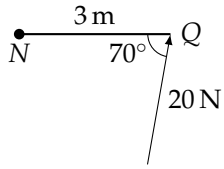

شکل ۱۱.۴۰: قوت مروڑ (مثال ۱۱.۲۶)۔

۱۸۱۲۴ □

۱۸۱۲۵ قوانین تلازم اور تقسیم

۱۸۱۲۶ صلیبی ضرب عام طور غیر تلازمی ہو گا چونکہ $(\boldsymbol{A} \times \boldsymbol{B}) \times \boldsymbol{C}$ سمتیات $\boldsymbol{A}$ اور $\boldsymbol{B}$ کے مستوی میں پایا جاتا ہے جبکہ $\boldsymbol{A} \times (\boldsymbol{B} \times \boldsymbol{C})$
۱۸۱۲۷ سمتیات $\boldsymbol{B}$ اور $\boldsymbol{C}$ کے مستوی میں پایا جاتا ہے۔ اس کے باوجود درج ذیل قواعد مطمئن ہوتے ہیں۔

غیر سمتی قاعدہ تقسیم
$$(r\boldsymbol{A}) \times (s\boldsymbol{B}) = (rs)(\boldsymbol{A} \times \boldsymbol{B}) \tag{۵}$$

سمتی قاعدہ تقسیم
$$\boldsymbol{A} \times (\boldsymbol{B} + \boldsymbol{C}) = \boldsymbol{A} \times \boldsymbol{B} + \boldsymbol{A} \times \boldsymbol{C} \tag{۶}$$

سمتی قاعدہ تقسیم
$$(\boldsymbol{B} + \boldsymbol{C}) \times \boldsymbol{A} = \boldsymbol{B} \times \boldsymbol{A} + \boldsymbol{C} \times \boldsymbol{A} \tag{۷}$$

۱۸۱۲۸ مساوات ۵ کی ایک مخصوص صورت درج ذیل ہے۔

$$(-\boldsymbol{A}) \times \boldsymbol{B} = \boldsymbol{A} \times (-\boldsymbol{B}) = -(\boldsymbol{A} \times \boldsymbol{B}) \tag{۸}$$

۱۸۱۲۹ غیر سمتی قاعدہ تقسیم ثابت کرنے کی خاطر مساوات ۵ کے دونوں اطراف پر مساوات ۱ عائد کر کے نتائج کا موازنہ کریں۔ سمتی قاعدہ تقسیم مساوات ۶ کو ثابت
۱۸۱۳۰ کرنا اتنا آسان نہیں ہے۔ ہم اس کی حقیقت کو یہاں تسلیم کرتے ہیں۔ اس کا ثبوت ضمیمہ ز میں پیش کیا گیا ہے۔ مساوات ۷ کو مساوات ۶ سے اخذ کیا جا سکتا ہے۔
۱۸۱۳۱ مساوات ۶ کے دونوں اطراف کو -1 سے ضرب کر کے حاصل اجزاء کے مقام تبدیل کریں۔

۱۸۱۳۲ $\boldsymbol{A} \times \boldsymbol{B}$ کا کلیہ بذریعہ مقطع

۱۸۱۳۳ ہم $\boldsymbol{A} \times \boldsymbol{B}$ کا حساب کارتیسی محددی نظام میں $\boldsymbol{A}$ اور $\boldsymbol{B}$ سے کرنا چاہتے ہیں۔ ہم درج ذیل فرض کرتے ہیں۔

$$\boldsymbol{A} = a_1\boldsymbol{i} + a_2\boldsymbol{j} + a_3\boldsymbol{k}, \quad \boldsymbol{B} = b_1\boldsymbol{i} + b_2\boldsymbol{j} + a_3\boldsymbol{k}$$

۱۸۱۳۴ قواعد تقسیم اور $\boldsymbol{i}$ ، $\boldsymbol{j}$ اور $\boldsymbol{k}$ کے قواعد ضرب سے درج ذیل حاصل ہو گا۔

$$\begin{aligned}\boldsymbol{A}\times\boldsymbol{B} &= (a_1\boldsymbol{i}+a_2\boldsymbol{j}+a_3\boldsymbol{k})\times(b_1\boldsymbol{i}+b_2\boldsymbol{j}+a_3\boldsymbol{k})\\ &= a_1b_1\boldsymbol{i}\times\boldsymbol{i}+a_1b_2\boldsymbol{i}\times\boldsymbol{j}+a_1b_3\boldsymbol{i}\times\boldsymbol{k}\\ &\quad+a_2b_1\boldsymbol{j}\times\boldsymbol{i}+a_2b_2\boldsymbol{j}\times\boldsymbol{j}+a_2b_3\boldsymbol{j}\times\boldsymbol{k}\\ &\quad+a_3b_1\boldsymbol{k}\times\boldsymbol{i}+a_3b_2\boldsymbol{k}\times\boldsymbol{j}+a_3b_3\boldsymbol{k}\times\boldsymbol{k}\\ &= (a_2b_3-a_3b_2)\boldsymbol{i}-(a_1b_3-a_3b_1)\boldsymbol{j}+(a_1b_2-a_2b_1)\boldsymbol{k}\end{aligned}$$

۱۸۱۳۵ مذکورہ بالا مساوات کا آخری حصہ قالب

$$\begin{vmatrix}\boldsymbol{i} & \boldsymbol{j} & \boldsymbol{k}\\ a_1 & a_2 & a_3\\ b_1 & b_2 & b_3\end{vmatrix}$$

۱۸۱۳۶ کو کھول کر ملتا ہے۔

۱۸۱۳۷ یوں اگر سمتیات $\boldsymbol{A}=a_1\boldsymbol{i}+a_2\boldsymbol{j}+a_3\boldsymbol{k}$ اور $\boldsymbol{B}=b_1\boldsymbol{i}+b_2\boldsymbol{j}+b_3\boldsymbol{k}$ ہوں تب درج ذیل ہو گا۔

$$\boldsymbol{A}\times\boldsymbol{B}=\begin{vmatrix}\boldsymbol{i} & \boldsymbol{j} & \boldsymbol{k}\\ a_1 & a_2 & a_3\\ b_1 & b_2 & b_3\end{vmatrix} \tag{۹}$$

۱۸۱۳۸ مثال ۱۱.۲۷:

$$\begin{vmatrix}a & b\\ c & d\end{vmatrix}=ad-bc$$

۱۸۱۳۹ □

۱۸۱۴۰ مثال ۱۱.۲۸:

$$\begin{vmatrix}2 & 1\\ -4 & 3\end{vmatrix}=(2)(3)-(1)(-4)=6+4=10$$

۱۸۱۴۱ □

۱۸۱۴۲ مثال ۱۱.۲۹:

$$\begin{vmatrix}a_1 & a_2 & a_3\\ b_1 & b_2 & b_3\\ c_1 & c_2 & c_3\end{vmatrix}=a_1\begin{vmatrix}b_2 & b_3\\ c_2 & c_3\end{vmatrix}-a_2\begin{vmatrix}b_1 & b_3\\ c_1 & c_3\end{vmatrix}+a_3\begin{vmatrix}b_1 & b_2\\ c_1 & c_2\end{vmatrix}$$

۱۸۱۴۳ □

۱۸۱۴۴ مثال ۱۱.۳۰:

$$\begin{vmatrix} -5 & 3 & 1 \\ 2 & 1 & 1 \\ -4 & 3 & 1 \end{vmatrix} = (-5)\begin{vmatrix} 1 & 1 \\ 3 & 1 \end{vmatrix} - (3)\begin{vmatrix} 2 & 1 \\ -4 & 1 \end{vmatrix} + (1)\begin{vmatrix} 2 & 1 \\ -4 & 3 \end{vmatrix}$$
$$= -5(1-3) - 3(2+4) + 1(6+4) = 10 - 18 + 10 = 2$$

۱۸۱۴۵ □

۱۸۱۴۶ مثال ۱۱.۳۱: صلیبی ضرب $\boldsymbol{A} \times \boldsymbol{B}$ اور $\boldsymbol{B} \times \boldsymbol{A}$ درج ذیل سمتیات کے لئے حاصل کریں۔

$$\boldsymbol{A} = 2\boldsymbol{i} + \boldsymbol{j} + \boldsymbol{k}, \quad \boldsymbol{B} = -4\boldsymbol{i} + 3\boldsymbol{j} + \boldsymbol{k}$$

۱۸۱۴۷ حل:

$$\boldsymbol{A} \times \boldsymbol{B} = \begin{vmatrix} \boldsymbol{i} & \boldsymbol{j} & \boldsymbol{k} \\ 2 & 1 & 1 \\ -4 & 3 & 1 \end{vmatrix} = \begin{vmatrix} 1 & 1 \\ 3 & 1 \end{vmatrix}\boldsymbol{i} - \begin{vmatrix} 2 & 1 \\ -4 & 1 \end{vmatrix}\boldsymbol{j} + \begin{vmatrix} 2 & 1 \\ -4 & 3 \end{vmatrix}\boldsymbol{k}$$
$$= -2\boldsymbol{i} - 6\boldsymbol{j} + 10\boldsymbol{k}$$
$$\boldsymbol{B} \times \boldsymbol{A} = -(\boldsymbol{A} \times \boldsymbol{B}) = 2\boldsymbol{i} + 6\boldsymbol{j} - 10\boldsymbol{k}$$

۱۸۱۴۸ □

۱۸۱۴۹ مثال ۱۱.۳۲: ایک مستوی پر نقاط $P(1,-1,0)$ ، $Q(2,1,-1)$ اور $R(-1,1,2)$ پائے جاتے ہیں۔ اس سطح کو عمودی سمتیہ
۱۸۱۵۰ تلاش کریں۔

۱۸۱۵۱ حل: سمتیات $\overrightarrow{PQ}$ اور $\overrightarrow{PR}$ اس سطح میں پائے جائیں گے۔ چونکہ سمتیہ $\overrightarrow{PQ} \times \overrightarrow{PR}$ ان دونوں سمتیات کو عمودی ہے لہٰذا یہ مستوی کو بھی
۱۸۱۵۲ عمودی ہو گا۔ اجزاء کی صورت میں درج ذیل ہو گا۔

$$\overrightarrow{PQ} = (2-1)\boldsymbol{i} + (1+1)\boldsymbol{j} + (-1-0)\boldsymbol{k} = \boldsymbol{i} + 2\boldsymbol{j} - \boldsymbol{k}$$
$$\overrightarrow{PR} = (-1-1)\boldsymbol{i} + (1+1)\boldsymbol{j} + (2-0)\boldsymbol{k} = -2\boldsymbol{i} + 2\boldsymbol{j} + 2\boldsymbol{k}$$
$$\overrightarrow{PQ} \times \overrightarrow{PR} = \begin{vmatrix} \boldsymbol{i} & \boldsymbol{j} & \boldsymbol{k} \\ 1 & 2 & -1 \\ -2 & 2 & 2 \end{vmatrix} = \begin{vmatrix} 2 & -1 \\ 2 & 2 \end{vmatrix}\boldsymbol{i} - \begin{vmatrix} 1 & -1 \\ -2 & 2 \end{vmatrix}\boldsymbol{j} + \begin{vmatrix} 1 & 2 \\ -2 & 2 \end{vmatrix}\boldsymbol{k}$$
$$= 6\boldsymbol{i} + 6\boldsymbol{k}$$

۱۸۱۵۳ □

مثال ۱۱.۳۳: ایک مثلث کے راس $P(1,-1,0)$ ، $Q(2,1,-1)$ اور $R(-1,1,2)$ ہیں۔اس مثلث کا رقبہ معلوم کریں۔

حل: سمتیات $\overrightarrow{PQ}$ اور $\overrightarrow{PR}$ جس متوازی الاضلاع کے ضلع ہوں اس کا رقبہ درج ذیل ہو گا۔

مثال ۱۱.۳۲

$$\begin{aligned}\left|\overrightarrow{PQ}\times\overrightarrow{PR}\right| &= |6\boldsymbol{i}+6\boldsymbol{k}|\\ &= \sqrt{(6)^2+(6)^2}=6\sqrt{2}\end{aligned}$$

مثلث کا رقبہ اس کا نصف $3\sqrt{2}$ ہو گا۔ □

مثال ۱۱.۳۴: سطح $P(1,-1,0)$ ، $Q(2,1,-1)$ اور $R(-1,1,2)$ کا عمودی اکائی سمتیہ $\boldsymbol{n}$ دریافت کریں۔

حل: چونکہ $\overrightarrow{PQ}\times\overrightarrow{PR}$ مستوی کو عمودی ہے لہٰذا $\boldsymbol{n}$ کا رخ یہی سمتیہ دے گا۔ہم اس سمتیہ کو اس کی مقدار سے تقسیم کر کے عمودی اکائی سمتیہ معلوم کرتے ہیں۔

$$\boldsymbol{n}=\frac{\overrightarrow{PQ}\times\overrightarrow{PR}}{\left|\overrightarrow{PQ}\times\overrightarrow{PR}\right|}=\frac{6\boldsymbol{i}+6\boldsymbol{k}}{6\sqrt{2}}=\frac{1}{\sqrt{2}}\boldsymbol{i}+\frac{1}{\sqrt{2}}\boldsymbol{k}$$

چونکہ سطح کے دو آپس میں مخالف رخ عمودی سمتیات پائے جاتے ہیں لہٰذا اس سطح کا دوسرا عمودی اکائی سمتیہ $-\frac{1}{\sqrt{2}}\boldsymbol{i}-\frac{1}{\sqrt{2}}\boldsymbol{k}$ ہو گا۔ □

غیر سمتی سہ ضرب

ضرب $(\boldsymbol{A}\times\boldsymbol{B})\cdot\boldsymbol{C}$ کو $\boldsymbol{A}$ ، $\boldsymbol{B}$ اور $\boldsymbol{C}$ کا غیر سمتی سہ ضرب کہتے ہیں جہاں سمتیات کی ترتیب یہی ہے۔آپ دیکھ سکتے ہیں (شکل ۱۱.۴۱) کہ غیر سمتی سہ ضرب کی مطلق قیمت

$$\left|(\boldsymbol{A}\times\boldsymbol{B})\cdot\boldsymbol{C}\right|=|\boldsymbol{A}\times\boldsymbol{B}||\boldsymbol{C}||\cos\theta|$$

اس مستطیلی متوازی السطوح کا حجم دیتی ہے جس کے اضلاع $\boldsymbol{A}$ ، $\boldsymbol{B}$ اور $\boldsymbol{C}$ ہوں۔ مستطیلی متوازی السطوح کا حجم اس کے قاعدہ کا رقبہ $|\boldsymbol{A}\times\boldsymbol{B}|$ اور اس کے قد $|\boldsymbol{C}||\cos\theta|$ کا حاصل ضرب نقطہ

$$\begin{aligned}\text{حجم} &= (\text{رقبہ قاعدہ})\cdot(\text{قد})\\ &= |\boldsymbol{A}\times\boldsymbol{B}|\cdot|\boldsymbol{C}||\cos\theta|\\ &= \left|(\boldsymbol{A}\times\boldsymbol{B})\cdot\boldsymbol{C}\right|\end{aligned}$$

ہو گا۔

سمتیات $\boldsymbol{A}$ اور $\boldsymbol{B}$ کی سطح کو شکل ۱۱.۴۱ میں قاعدہ دکھایا گیا ہے۔ہم سمتیات $\boldsymbol{B}$ اور $\boldsymbol{C}$ کی سطح یا سمتیات $\boldsymbol{C}$ اور $\boldsymbol{A}$ کی سطح کو قاعدہ لے کر بھی حجم تلاش کر سکتے ہیں۔چونکہ حجم اٹل قیمت ہے لہٰذا درج ذیل حاصل ہو گا۔

$$(\boldsymbol{A}\times\boldsymbol{B})\cdot\boldsymbol{C}=(\boldsymbol{B}\times\boldsymbol{C})\cdot\boldsymbol{A}=(\boldsymbol{C}\times\boldsymbol{A})\cdot\boldsymbol{B} \tag{۱۰}$$

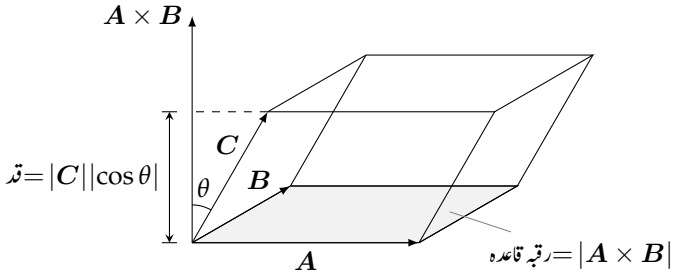

شکل ۱۱.۴۱: مستطیلی متوازی السطوح کا حجم اس کے قاعدہ کا رقبہ ضرب قد کے برابر ہو گا۔

۱۸۱۶۹ اب غیر سمتی ضرب قابل تبادل ہے لہٰذا مساوات ۱۰ سے درج ذیل حاصل ہوتا ہے۔

$$(\boldsymbol{A}\times\boldsymbol{B})\cdot\boldsymbol{C}=\boldsymbol{A}\cdot(\boldsymbol{A}\times\boldsymbol{C}) \tag{۱۱}$$

۱۸۱۷۰ آپ دیکھ سکتے ہیں کہ غیر سمتی سہ ضرب میں سمتیات کا مقام تبدیل کئے بغیر صلیبی ضرب اور نقطہ ضرب کے مقامات کو بدلا جا سکتا ہے۔

۱۸۱۷۱ غیر سمتی سہ ضرب کی قیمت مقطع سے حاصل کی جا سکتی ہے:

$$\begin{aligned}\boldsymbol{A}\cdot(\boldsymbol{B}\times\boldsymbol{C})&=\boldsymbol{A}\cdot\left[\begin{vmatrix}b_2&b_3\\c_2&c_3\end{vmatrix}\boldsymbol{i}-\begin{vmatrix}b_1&b_3\\c_1&c_3\end{vmatrix}\boldsymbol{j}+\begin{vmatrix}b_1&b_2\\c_1&c_2\end{vmatrix}\boldsymbol{k}\right]\\&=a_1\begin{vmatrix}b_2&b_3\\c_2&c_3\end{vmatrix}-a_2\begin{vmatrix}b_1&b_3\\c_1&c_3\end{vmatrix}+a_3\begin{vmatrix}b_1&b_2\\c_1&c_2\end{vmatrix}\\&=\begin{vmatrix}a_1&a_2&a_3\\b_1&b_2&b_3\\c_1&c_2&c_3\end{vmatrix}\end{aligned}$$

۱۸۱۷۲ یوں درج ذیل ہو گا۔

$$\boldsymbol{A}\cdot(\boldsymbol{B}\times\boldsymbol{C})=(\boldsymbol{A}\times\boldsymbol{B})\cdot\boldsymbol{C}=\begin{vmatrix}a_1&a_2&a_3\\b_1&b_2&b_3\\c_1&c_2&c_3\end{vmatrix} \tag{۱۲}$$

۱۸۱۷۳ مثال ۱۱.۳۵: سمتیات $\boldsymbol{A}=\boldsymbol{i}+2\boldsymbol{j}-\boldsymbol{k}$ ، $\boldsymbol{B}=-2\boldsymbol{i}+3\boldsymbol{k}$ اور $\boldsymbol{C}=7\boldsymbol{j}-4\boldsymbol{k}$ ایک مستطیلی متوازی السطوح بناتے
۱۸۱۷۴ ہیں۔ اس کا حجم تلاش کریں۔

۱۸۱۷۵ حل:

$$\boldsymbol{A}\cdot(\boldsymbol{B}\times\boldsymbol{C}) = \begin{vmatrix} 1 & 2 & -1 \\ -2 & 0 & 3 \\ 0 & 7 & -4 \end{vmatrix} = \begin{vmatrix} 0 & 3 \\ 7 & -4 \end{vmatrix} - 2\begin{vmatrix} -2 & 3 \\ 0 & -4 \end{vmatrix} - \begin{vmatrix} -2 & 0 \\ 0 & 7 \end{vmatrix}$$
$$= -21 - 16 + 13 = -23$$

۱۸۱۷۶ یوں حجم $\left|\boldsymbol{A}\cdot(\boldsymbol{B}\times\boldsymbol{C})\right| = 23$ ہوگا۔ □

۱۸۱۷۷ **سوالات**

۱۸۱۷۸ **حساب**

۱۸۱۷۹ سوال ۱۱.۱۸۳ تا سوال ۱۱.۱۹۰ میں $\boldsymbol{A}\times\boldsymbol{B}$ اور $\boldsymbol{B}\times\boldsymbol{A}$ (اگر معین ہو) کی لمبائیاں اور مقدار معلوم کریں۔

۱۸۱۸۰ سوال ۱۱.۱۸۳: $\boldsymbol{A} = 2\boldsymbol{i} - 2\boldsymbol{j} - \boldsymbol{k}, \quad \boldsymbol{B} = \boldsymbol{i} - \boldsymbol{k}$

۱۸۱۸۱ سوال ۱۱.۱۸۴: $\boldsymbol{A} = 2\boldsymbol{i} + 3\boldsymbol{j}, \quad \boldsymbol{B} = -\boldsymbol{i} + \boldsymbol{j}$

۱۸۱۸۲ سوال ۱۱.۱۸۵: $\boldsymbol{A} = 2\boldsymbol{i} - 2\boldsymbol{j} + 4\boldsymbol{k}, \quad \boldsymbol{B} = -\boldsymbol{i} + \boldsymbol{j} - 2\boldsymbol{k}$

۱۸۱۸۳ سوال ۱۱.۱۸۶: $\boldsymbol{A} = \boldsymbol{i} + \boldsymbol{j} - \boldsymbol{k}, \quad \boldsymbol{B} = \boldsymbol{0}$

۱۸۱۸۴ سوال ۱۱.۱۸۷: $\boldsymbol{A} = 2\boldsymbol{i}, \quad \boldsymbol{B} = -3\boldsymbol{j}$

۱۸۱۸۵ سوال ۱۱.۱۸۸: $\boldsymbol{A} = \boldsymbol{i}\times\boldsymbol{j}, \quad \boldsymbol{B} = \boldsymbol{j}\times\boldsymbol{k}$

۱۸۱۸۶ سوال ۱۱.۱۸۹: $\boldsymbol{A} = -8\boldsymbol{i} - 2\boldsymbol{j} - 4\boldsymbol{k}, \quad \boldsymbol{B} = 2\boldsymbol{i} + 2\boldsymbol{j} + \boldsymbol{k}$

۱۸۱۸۷ سوال ۱۱.۱۹۰: $\boldsymbol{A} = \frac{3}{2}\boldsymbol{i} - \frac{1}{2}\boldsymbol{j} + \boldsymbol{k}, \quad \boldsymbol{B} = \boldsymbol{i} + \boldsymbol{j} + 2\boldsymbol{k}$

۱۸۱۸۸ سوال ۱۱.۱۹۱ تا سوال ۱۱.۱۹۶ میں محددی محور کے مبدا پر $\boldsymbol{A}$ ، $\boldsymbol{B}$ اور $\boldsymbol{A}\times\boldsymbol{B}$ ترسیم کریں۔

۱۸۱۸۹ سوال ۱۱.۱۹۱: $\boldsymbol{A} = \boldsymbol{i}, \quad \boldsymbol{B} = \boldsymbol{j}$

۱۸۱۹۰ سوال ۱۱.۱۹۲: $\boldsymbol{A} = \boldsymbol{i} - \boldsymbol{k}, \quad \boldsymbol{B} = \boldsymbol{j}$

۱۸۱۹۱ سوال ۱۱.۱۹۳: $\boldsymbol{A} = \boldsymbol{i} - \boldsymbol{k}, \quad \boldsymbol{B} = \boldsymbol{j} + \boldsymbol{k}$

۱۸۱۹۲ سوال ۱۱.۱۹۴: $\boldsymbol{A} = 2\boldsymbol{i} - \boldsymbol{j}, \quad \boldsymbol{B} = \boldsymbol{i} + 2\boldsymbol{j}$

۱۸۱۹۳ سوال ۱۱.۱۹۵: $\boldsymbol{A} = \boldsymbol{i} + \boldsymbol{j}, \quad \boldsymbol{B} = \boldsymbol{i} - \boldsymbol{j}$

۱۸۱۹۴ سوال ۱۱.۱۹۶: $\boldsymbol{A} = \boldsymbol{j} + 2\boldsymbol{k}, \quad \boldsymbol{B} = \boldsymbol{i}$

۱۸۱۹۵

۱۸۱۹۶ سوال ۱۱.۱۹۷ تا سوال ۱۱.۲۰۰ میں درج ذیل اقدام کریں۔

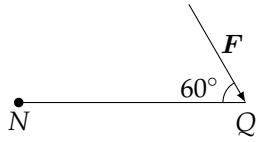

شکل ۱۱.۴۲: خاکہ برائے سوال ۱۱.۲۰۳

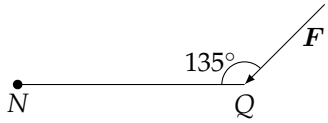

شکل ۱۱.۴۳: خاکہ برائے سوال ۱۱.۲۰۴

۱۸۱۹۷ ا. اس مثلث کا رقبہ تلاش کریں جس کے راس نقاط P ، Q اور R ہوں۔

۱۸۱۹۸ ب. سطح PQR کا ایک عمودی اکائی سمتیہ تلاش کریں۔

۱۸۱۹۹ سوال ۱۱.۱۹۷: $P(1,-1,2), \quad Q(2,0,-1), \quad R(0,2,1)$

۱۸۲۰۰ سوال ۱۱.۱۹۸: $P(1,1,1), \quad Q(2,1,3), \quad R(3,-1,1)$

۱۸۲۰۱ سوال ۱۱.۱۹۹: $P(2,-2,1), \quad Q(3,-1,2), \quad R(3,-1,1)$

۱۸۲۰۲ سوال ۱۱.۲۰۰: $P(-2,2,0), \quad Q(0,1,-1), \quad R(-1,2,-2)$

۱۸۲۰۳

۱۸۲۰۴ سوال ۱۱.۲۰۱: سمتیات $\boldsymbol{A} = 5\boldsymbol{i} - \boldsymbol{j} + \boldsymbol{k}$ ، $\boldsymbol{B} = \boldsymbol{j} - 5\boldsymbol{k}$ اور $\boldsymbol{C} = -15\boldsymbol{i} + 3\boldsymbol{j} - 3\boldsymbol{k}$ لیں۔ ان میں کون سے
۱۸۲۰۵ سمتیات (اگر ہوں) (ا) عمودی (ب) کون سے متوازی ہیں؟ اپنے جواب کی وجہ پیش کریں۔

۱۸۲۰۶ سوال ۱۱.۲۰۲: سمتیات $\boldsymbol{A} = \boldsymbol{i} + 2\boldsymbol{j} - \boldsymbol{k}$ ، $\boldsymbol{B} = -\boldsymbol{i} + \boldsymbol{j} + \boldsymbol{k}$ ، $\boldsymbol{C} = \boldsymbol{i} + \boldsymbol{k}$ اور
۱۸۲۰۷ $\boldsymbol{D} = -\frac{\pi}{2}\boldsymbol{i} - \pi\boldsymbol{j} + \frac{\pi}{2}\boldsymbol{k}$ لیں۔ کون سے سمتیات (اگر ہوں) (ا) عمودی اور (ب) کون سے متوازی ہیں؟ اپنے جواب کی وجہ پیش کریں۔

۱۸۲۰۸

۱۸۲۰۹ سوال ۱۱.۲۰۳ اور سوال ۱۱.۲۰۴ میں N پر $\boldsymbol{F}$ کا قوت مروڑ تلاش کریں جہاں $\left|\overrightarrow{NQ}\right| = 80\,\mathrm{cm}$ اور $\boldsymbol{F} = 30\,\mathrm{N}$ ہیں۔

۱۸۲۱۰ سوال ۱۱.۲۰۳: خاکہ شکل ۱۱.۴۲ میں دیا گیا ہے۔

۱۸۲۱۱ سوال ۱۱.۲۰۴: خاکہ شکل ۱۱.۴۳ میں دیا گیا ہے۔

۱۸۲۱۲

۱۸۲۱۳ سوال ۱۱.۲۰۵ تا سوال ۱۱.۲۰۸ میں دکھائیں کہ $(\boldsymbol{A} \times \boldsymbol{B}) \cdot \boldsymbol{C} = (\boldsymbol{B} \times \boldsymbol{C}) \cdot \boldsymbol{A} = (\boldsymbol{C} \times \boldsymbol{A}) \cdot \boldsymbol{B}$ ہے۔ اس مستطیلی متوازی
۱۸۲۱۴ السطوح کا حجم تلاش کریں جس کے اضلاع $\boldsymbol{A}$ ، $\boldsymbol{B}$ اور $\boldsymbol{C}$ ہوں۔

۱۸۲۱۵ سوال ۱۱.۲۰۵: $\boldsymbol{A} = 2\boldsymbol{i}$ ، $\boldsymbol{B} = 2\boldsymbol{j}$ ، $\boldsymbol{C} = 2\boldsymbol{k}$

۱۸۲۱۶ سوال ۱۱.۲۰۶: $\boldsymbol{A} = \boldsymbol{i} - \boldsymbol{j} + \boldsymbol{k}$ ، $\boldsymbol{B} = 2\boldsymbol{i} + \boldsymbol{j} - 2\boldsymbol{k}$ ، $\boldsymbol{C} = -\boldsymbol{i} + 2\boldsymbol{j} - \boldsymbol{k}$

۱۸۲۱۷ سوال ۱۱.۲۰۷: $\boldsymbol{A} = 2\boldsymbol{i} + \boldsymbol{j}$ ، $\boldsymbol{B} = 2\boldsymbol{i} - \boldsymbol{j} + \boldsymbol{k}$ ، $\boldsymbol{C} = \boldsymbol{i} + 2\boldsymbol{k}$

۱۸۲۱۸ سوال ۱۱.۲۰۸: $\boldsymbol{A} = \boldsymbol{i} + \boldsymbol{j} - 2\boldsymbol{k}$ ، $\boldsymbol{B} = -\boldsymbol{i} - \boldsymbol{k}$ ، $\boldsymbol{C} = 2\boldsymbol{i} + 4\boldsymbol{j} - 2\boldsymbol{k}$

۱۸۲۱۹

نظریہ اور مثالیں

سوال ۱۱.۲۰۹: درج ذیل میں کون سے حل صورت درست اور کون سے بعض اوقات درست ہوں گے؟ اپنے جواب کی وجہ پیش کریں۔

ا. $|\boldsymbol{A}| = \sqrt{\boldsymbol{A} \cdot \boldsymbol{A}}$

ب. $\boldsymbol{A} \cdot \boldsymbol{A} = |\boldsymbol{A}|$

ج. $\boldsymbol{A} \times \boldsymbol{0} = \boldsymbol{0} \times \boldsymbol{A} = \boldsymbol{0}$

د. $\boldsymbol{A} \times (-\boldsymbol{A}) = \boldsymbol{0}$

ھ. $\boldsymbol{A} \times \boldsymbol{B} = \boldsymbol{B} \times \boldsymbol{A}$

و. $\boldsymbol{A} \times (\boldsymbol{B} + \boldsymbol{C}) = \boldsymbol{A} \times \boldsymbol{B} + \boldsymbol{A} \times \boldsymbol{C}$

ز. $(\boldsymbol{A} \times \boldsymbol{B}) \cdot \boldsymbol{B} = 0$

ح. $(\boldsymbol{A} \times \boldsymbol{B}) \cdot \boldsymbol{C} = \boldsymbol{A} \cdot (\boldsymbol{B} \times \boldsymbol{C})$

سوال ۱۱.۲۱۰: درج ذیل میں کون سے ہر صورت درست اور کون سے بعض اوقات درست ہوتے ہیں؟ اپنے جواب کی وجہ پیش کریں۔

ا. $\boldsymbol{A} \cdot \boldsymbol{B} = \boldsymbol{B} \cdot \boldsymbol{A}$

ب. $\boldsymbol{A} \times \boldsymbol{B} = -(\boldsymbol{B} \times \boldsymbol{A})$

ج. $(-\boldsymbol{A}) \times \boldsymbol{B} = -(\boldsymbol{A} \times \boldsymbol{B})$

د. $(c\boldsymbol{A}) \cdot \boldsymbol{B} = \boldsymbol{A} \cdot (c\boldsymbol{B}) = c(\boldsymbol{A} \cdot \boldsymbol{B})$ جہاں c مستقل ہے۔

ھ. $c(\boldsymbol{A} \times \boldsymbol{B}) = (c\boldsymbol{A}) \times \boldsymbol{B} = \boldsymbol{A} \times (c\boldsymbol{B})$ جہاں c مستقل ہے۔

و. $\boldsymbol{A} \cdot \boldsymbol{A} = |\boldsymbol{A}|^2$

ز. $(\boldsymbol{A} \times \boldsymbol{A}) \cdot \boldsymbol{A} = 0$

ح. $(\boldsymbol{A} \times \boldsymbol{B}) \cdot \boldsymbol{A} = \boldsymbol{B} \cdot (\boldsymbol{A} \times \boldsymbol{B})$

سوال ۱۱.۲۱۱: سمتیات $\boldsymbol{A}$ ، $\boldsymbol{B}$ اور $\boldsymbol{C}$ غیر صفر ہیں۔ نقطہ ضرب اور صلیبی ضرب کی علامتیں استعمال کرتے ہوئے درج ذیل لکھیں۔

ا. $\boldsymbol{B}$ پر $\boldsymbol{A}$ کا سمتی تظلیل۔

ب. $\boldsymbol{A}$ اور $\boldsymbol{B}$ کو عمودی سمتیہ۔

ج. $\boldsymbol{C}$ اور $\boldsymbol{A} \times \boldsymbol{B}$ کو عمودی سمتیہ۔

د. اس مستطیلی متوازی السطوح کا حجم جس کے اضلاع $\boldsymbol{A}$ ، $\boldsymbol{B}$ اور $\boldsymbol{C}$ ہوں۔

سوال ۱۱.۲۱۲: سمتیات $\boldsymbol{A}$ ، $\boldsymbol{B}$ اور $\boldsymbol{C}$ غیر صفر ہیں۔ نقطہ ضرب اور صلیبی ضرب کی علامتیں استعمال کرتے ہوئے درج ذیل لکھیں۔

ا. $\boldsymbol{A} \times \boldsymbol{B}$ اور $\boldsymbol{A} \times \boldsymbol{C}$ کو عمودی سمتیہ۔

ب. $\boldsymbol{A} + \boldsymbol{B}$ اور $\boldsymbol{A} - \boldsymbol{B}$ کو عمودی سمتیہ۔

ج. ایک سمتیہ جس کی لمبائی $|\boldsymbol{A}|$ اور جو $\boldsymbol{B}$ کے رخ ہو۔

د. اس متوازی الاضلاع کا رقبہ جس کے اضلاع $\boldsymbol{A}$ اور $\boldsymbol{C}$ ہوں۔

سوال ۱۱.۲۱۳: فرض کریں $\boldsymbol{A}$ ، $\boldsymbol{B}$ اور $\boldsymbol{C}$ سمتیات ہیں۔ درج ذیل میں کن کا معنی ہے اور کن کا کوئی معنی نہیں ہے؟

ا. $(\boldsymbol{A} \times \boldsymbol{B}) \cdot \boldsymbol{C}$

ب. $\boldsymbol{A} \times (\boldsymbol{B} \cdot \boldsymbol{C})$

ج. $\boldsymbol{A} \times (\boldsymbol{B} \times \boldsymbol{C})$

د. $\boldsymbol{A} \cdot (\boldsymbol{B} \cdot \boldsymbol{C})$

سوال ۱۱.۲۱۴: دکھائیں کہ ماسوائے انحطاطی صورت $\boldsymbol{A}$ اور $\boldsymbol{B}$ کے مستوی میں $(\boldsymbol{A} \times \boldsymbol{B}) \times \boldsymbol{C}$ پایا جائے گا جبکہ $\boldsymbol{B}$ اور $\boldsymbol{C}$ کے مستوی میں $\boldsymbol{A} \times (\boldsymbol{B} \times \boldsymbol{C})$ پایا جائے گا۔ انحطاطی صورت کس کو کہتے ہیں؟

سوال ۱۱.۲۱۵: صلیبی ضرب میں منسوخی

کیا $\boldsymbol{A} \times \boldsymbol{B} = \boldsymbol{A} \times \boldsymbol{C}$ اور $\boldsymbol{A} \neq \boldsymbol{0}$ کی صورت میں $\boldsymbol{B} = \boldsymbol{C}$ ہو گا؟ اپنے جواب کی وجہ پیش کریں۔

سوال ۱۱.۲۱۶: دوگنّا منسوخی

کیا $\boldsymbol{A} \neq \boldsymbol{0}$ ، $\boldsymbol{A} \times \boldsymbol{B} = \boldsymbol{A} \times \boldsymbol{C}$ اور $\boldsymbol{A} \cdot \boldsymbol{B} = \boldsymbol{A} \cdot \boldsymbol{C}$ کی صورت میں $\boldsymbol{B} = \boldsymbol{C}$ ہو گا؟ اپنے جواب کی وجہ پیش کریں۔

مستوی میں رقبہ

سوال ۱۱.۲۱۷ تا سوال ۱۱.۲۲۰ میں متوازی الاضلاع کے راس دیے گئے ہیں۔ اس کا رقبہ تلاش کریں۔

سوال ۱۱.۲۱۷: $A(1,0), \quad B(0,1), \quad C(-1,0), \quad D(0,-1)$

سوال ۱۱.۲۱۸: $A(0,0), \quad B(7,3), \quad C(9,8), \quad D(2,5)$

سوال ۱۱.۲۱۹: $A(-1,2), \quad B(2,0), \quad C(7,1), \quad D(4,3)$

سوال ۱۱.۲۲۰: $A(-6,0), \quad B(1,-4), \quad C(3,1), \quad D(-4,5)$

سوال ۱۱.۲۲۱ تا سوال ۱۱.۲۲۴ میں مثلث کے راس دیے گئے ہیں۔ اس کا رقبہ تلاش کریں۔

سوال ۱۱.۲۲۱: $A(0,0), \quad B(-2,3), \quad C(3,1)$

سوال ۱۱.۲۲۲: $A(-1,-1), \quad B(3,3), \quad C(2,1)$

سوال ۱۱.۲۲۳: $A(-5,3), \quad B(1,-2), \quad C(6,-2)$

سوال ۱۱.۲۲۴: $A(-6,0), \quad B(10,-5), \quad C(-2,4)$

سوال ۱۱.۲۲۵: مستوی xy میں ایک مثلث کے راس $(0,0)$ ، (a_1,a_2) اور (b_1,b_2) ہیں۔ اس کے رقبہ کا کلیہ معلوم کریں۔ اپنے کام کی وضاحت کریں۔

سوال ۱۱.۲۲۶: ایک مثلث کے راس (a_1,a_2) ، (b_1,b_2) اور (c_1,c_2) ہیں۔ اس کے رقبہ کا کلیہ اخذ کریں۔

۱۱.۵ فضا میں خطوط اور مستویات

اس حصہ میں غیر سمتی ضرب اور سمتی ضرب استعمال کرتے ہوئے فضا میں خطوط، قطعات اور مستوی کی مساوات لکھنا سکھایا جائے گا۔

فضا میں خطوط اور قطعات

فرض کریں فضا میں نقطہ $N_0(x_0, y_0, z_0)$ سے گزرتا اور سمتیہ $\boldsymbol{v} = A\boldsymbol{i} + B\boldsymbol{j} + C\boldsymbol{k}$ کے متوازی ایک خط L ہے۔ تب L ان تمام نقطوں $N(x, y, z)$ کا سلسلہ ہو گا جن کے لئے $\overrightarrow{N_0N}$ سمتیہ $\boldsymbol{v}$ کے متوازی ہو۔ یعنی L پر N صرف اور صرف اس صورت پایا جائے گا جب $\overrightarrow{N_0N}$ سمتیہ $\boldsymbol{v}$ کا غیر سمتی مضرب ہو۔

سمتیہ $\boldsymbol{v}$ کا متوازی خط جو نقطہ $N_0(x_0, y_0, z_0)$ سے گزرتا ہو کی مساوات درج ذیل ہو گی۔

$$\overrightarrow{N_0N} = t\boldsymbol{v}, \quad -\infty < t < \infty \tag{۱}$$

مساوات ۱ کے دونوں اطراف مطابقتی اجزاء کو ایک دوسرے کے برابر لکھتے ہوئے تین غیر سمتی مساوات حاصل ہوں گے جن میں مقدار معلوم t پایا جائے گا:

$$(x - x_0)\boldsymbol{i} + (y - y_0)\boldsymbol{j} + (z - z_0)\boldsymbol{k} = t(A\boldsymbol{i} + B\boldsymbol{j} + C\boldsymbol{k}) \qquad \text{اتساع مساوات ۱}$$

$$x - x_0 = tA, \quad y - y_0 = tB, \quad z - z_0 = tC \qquad \text{مطابقتی اجزاء}$$

ان مساوات سے وقفہ $-\infty < t < \infty$ پر سمتیہ $\boldsymbol{v}$ کے متوازی نقطہ $N_0(x_0, y_0, z_0)$ سے گزرتے خط کی درج ذیل معیاری مقدار معلوم مساوات حاصل ہوتی ہے:

$$x = x_0 + tA, \quad y = y_0 + tB, \quad z = z_0 + tC, \quad -\infty < t < \infty \tag{۲}$$

مثال ۱۱.۳۶: سمتیہ $\boldsymbol{v} = 2\boldsymbol{i} + 4\boldsymbol{j} - 2\boldsymbol{k}$ کے متوازی خط جو نقطہ $(-2, 0, 4)$ سے گزرتا ہو کی مقدار معلوم مساوات تلاش کریں۔

حل: دی گئی معلومات کو مساوات ۲ میں پر کر کے خط کی مقدار معلوم مساوات حاصل کرتے ہیں۔

$$x = -2 + 2t, \quad y = 4t, \quad z = 4 - 2t$$

□

مثال ۱۱.۳۷: نقطہ $N(-3, 2, -3)$ اور $Q(1, -1, 4)$ سے گزرتے ہوئے خط کی مقدار معلوم مساوات تلاش کریں۔

حل: ان نقطوں کے بیچ خط کا متوازی سمتیہ

$$\overrightarrow{NQ} = (1 - (-3))\boldsymbol{i} + (-1 - 2)\boldsymbol{j} + (4 - (-3))\boldsymbol{k} = 4\boldsymbol{i} - 3\boldsymbol{j} + 7\boldsymbol{k}$$

ہے جس کو مساوات ۲ میں $(x_0, y_0, z_0) = (-3, 2, -3)$ کے ساتھ لیتے ہوئے مقدار معلوم مساوات حاصل کرتے ہیں۔

$$x = -3 + 4t, \quad y = 2 - 3t, \quad z = -3 + 7t$$

آپ دیکھ سکتے ہیں کہ $t = 0$ پر $x = -3 + 4(0) = -3$، $y = 2 - 3(0) = 2$ اور $z = -3 + 7(0) = -3$ یعنی ابتدائی نقطہ $(-3, 2, -3)$ حاصل ہوتا ہے۔ ہم نقطہ $Q(1, -1, 4)$ کو بھی ابتدائی نقطہ منتخب کر سکتے ہیں۔ ایسا کرنے سے درج ذیل مساوات حاصل ہو گا۔

$$x = 1 + 4t, \quad y = -1 - 3t, \quad z = 4 + 7t$$

اب $t = 0$ پر $x = 1$، $y = -1$ اور $z = 4$ یعنی ابتدائی نقطہ $(1, -1, 4)$ حاصل ہوتا ہے۔ درج بالا دونوں مساوات درست ہیں۔ ان کے ابتدائی نقطے مختلف ہیں۔ □

دو نقطوں کے بیچ خطی قطعہ کی مقدار معلوم مساوات تلاش کرنے کی خاطر ہم پہلے ان نقطوں کے بیچ خط کی مقدار معلوم مساوات حاصل کرتے ہیں۔ اس کے بعد ہم قطعہ کے آخری سروں پر t کی قیمتیں تلاش کر کے t کو ان قیمتوں کے بیچ بند وقفہ پر رہنے کا پابند بناتے ہیں۔ خط کی مساوات بشمول پابند وقفہ قطعہ کی مقدار معلوم مساوات ہو گی۔

مثال ۱۱.۳۸: نقطہ $N(-3, 2, -3)$ اور $Q(1, -1, 4)$ کے بیچ قطعہ کی مقدار معلوم مساوات تلاش کریں۔

حل: ہم پہلے نقاط N اور Q سے گزرتے ہوئے خط کی مساوات تلاش کرنی ہو گی۔ ہم مثال ۱۱.۳۷ میں اس کو حاصل کر چکے ہیں:

$$x = -3 + 4t, \quad y = 2 - 3t, \quad z = -3 + 7t \tag{۳}$$

درج ذیل نقطہ $t = 0$ پر نقطہ $N(-3, 2, -3)$ اور $t = 1$ پر نقطہ $Q(1, -1, 4)$ دیتا ہے۔

$$(x, y, z) = (-3 + 4t, 2 - 3t, -3 + 7t)$$

مساوات ۳ بشمول $0 \le t \le 1$ کی پابندی قطعہ کی مقدار معلوم مساوات ہو گی:

$$x = -3 + 4t, \quad y = 2 - 3t, \quad z = -3 + 7t, \quad 0 \le t \le 1$$

□

فضا میں ایک نقطہ سے ایک خط تک فاصلہ

نقطہ S سے سمتیہ $\boldsymbol{v}$ کے متوازی خط جو نقطہ N سے گزرتا ہو کا فاصلہ d جاننے کی خاطر ہم اس خط کے عمودی قطعہ $\overrightarrow{NS}$ کی لمبائی معلوم کرتے ہیں۔ شکل ۱۱.۴۴ سے واضح ہے کہ یہ لمبائی $\left|\overrightarrow{NS}\right| \sin\theta$ یعنی $\frac{\left|\overrightarrow{NS} \times \boldsymbol{v}\right|}{|\boldsymbol{v}|}$ ہو گی۔

لکیر سے نقطے کا فاصلہ

$$d = \frac{\left|\overrightarrow{NS} \times \boldsymbol{v}\right|}{|\boldsymbol{v}|} \tag{۴}$$

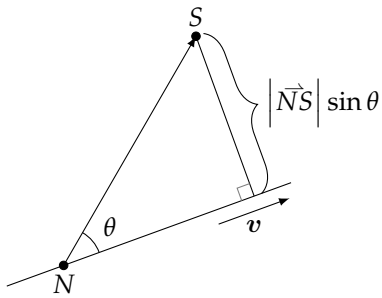

شکل ۱۱.۴۴: نقطہ S سے سمتیہ $\boldsymbol{v}$ کے متوازی خط جو نقطہ N سے گزرتا ہو کا فاصلہ۔

۱۸۳۰۹ مثال ۱۱.۳۹: نقطہ $S(1,1,5)$ سے درج ذیل لکیر تک فاصلہ دریافت کریں۔

$$L: \quad x = 1 + t, \quad y = 3 - t, \quad z = 2t$$

۱۸۳۱۰ حل: ہم $\boldsymbol{v} = \boldsymbol{i} - \boldsymbol{j} + 2\boldsymbol{k}$ کے متوازی لکیر L جو $N(1,3,0)$ سے گزرتی ہو کی مساوات تلاش کرتے ہیں۔ اب

$$\overrightarrow{NS} = (1-1)\boldsymbol{i} + (1-3)\boldsymbol{j} + (5-0)\boldsymbol{k} = -2\boldsymbol{j} + 5\boldsymbol{k}$$

۱۸۳۱۱ اور

$$\overrightarrow{NS} \times \boldsymbol{v} = \begin{vmatrix} \boldsymbol{i} & \boldsymbol{j} & \boldsymbol{k} \\ 0 & -2 & 5 \\ 1 & -1 & 2 \end{vmatrix} = \boldsymbol{i} + 5\boldsymbol{j} + 2\boldsymbol{k}$$

۱۸۳۱۲ لیتے ہوئے مساوات ۴ درج ذیل فاصلہ دیتی ہے۔

$$d = \frac{\left|\overrightarrow{NS} \times \boldsymbol{v}\right|}{|\boldsymbol{v}|} = \frac{\sqrt{1+25+4}}{1+1+4} = \frac{\sqrt{30}}{\sqrt{6}} = \sqrt{5}$$

۱۸۳۱۳ □

۱۸۳۱۴ **فضا میں مستوی کی مساوات**

۱۸۳۱۵ فرض کریں سطح M نقطہ $N_0(x_0, y_0, z_0)$ سے گزرتا ہے اور اس سطح کو سمتیہ $\boldsymbol{n} = A\boldsymbol{i} + B\boldsymbol{j} + C\boldsymbol{k}$ قائمہ ہے۔ تب ان تمام
۱۸۳۱۶ نقطوں $N(x,y,z)$ کا سلسلہ، جن کے لئے $\overrightarrow{N_0N}$ اور $\boldsymbol{n}$ ایک دوسرے کے عمودی ہوں، M ہو گا (شکل ۱۱.۴۵)۔ یعنی N صرف اور صرف
۱۸۳۱۷ اس صورت M پر واقع ہو گا جب $\boldsymbol{n} \cdot \overrightarrow{N_0N} = 0$ ہو۔ یہ مساوات

$$(A\boldsymbol{i} + B\boldsymbol{j} + C\boldsymbol{k}) \cdot [(x - x_0)\boldsymbol{i} + (y - y_0)\boldsymbol{j} + (z - z_0)\boldsymbol{k}] = 0$$

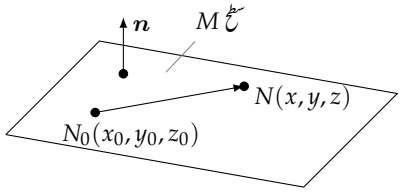

شکل ۱۱.۴۵: سطح میں نقاط N_0 اور N کے بیچ سمتی قطعہ اور سطح کا قائمہ سمتیہ $\boldsymbol{n}$ ایک دوسرے کے عمودی ہوں گے۔

۱۸۳۱۸ یا

$$A(x-x_0)+B(y-y_0)+C(z-z_0)=0$$

۱۸۳۱۹ کے مترادف ہے۔

۱۸۳۲۰ **نقطہ $N_0(x_0,y_0,z_0)$ سے گزرتا ہوا اور $\boldsymbol{n}$ کو عمودی سطح کی مساوات**

۱۸۳۲۱

$$\boldsymbol{n}\cdot\overrightarrow{N_0N}=0 \qquad \text{سمتی مساوات} \tag{۵}$$

$$A(x-x_0)+B(y-y_0)+C(z-z_0)=0 \qquad \text{اجزائی مساوات} \tag{۶}$$

۱۸۳۲۲ مثال ۱۱.۴۰: نقطہ $N(-3,0,7)$ سے گزرتا سطح جو $\boldsymbol{n}=5\boldsymbol{i}+2\boldsymbol{j}-\boldsymbol{k}$ کو عمودی ہو کی مساوات تلاش کریں۔

۱۸۳۲۳ حل:

$$\begin{aligned}5(x-(-3))+2(y-0)+(-1)(z-7)&=0 \qquad \text{مساوات ۵}\\ 5x+15+2y-z+7&=0\\ 5x+2y-z&=-22\end{aligned}$$

۱۸۳۲۴ □

۱۸۳۲۵ آپ مثال ۱۱.۴۰ میں دیکھ سکتے ہیں کہ $\boldsymbol{n}=5\boldsymbol{i}+2\boldsymbol{j}-\boldsymbol{k}$ کے عددی سر مساوات $5x+2y-z=-22$ میں x ، y اور z کے
۱۸۳۲۶ عددی سر کی طور پر ابھرتے ہیں۔ ایسا واقعاتی طور پر نہیں ہوا بلکہ مساوات ۶ کو $Ax+By+Cz=D$ لکھنا ممکن ہے جہاں $D=Ax_0+$
۱۸۳۲۷ By_0+Cz_0 ہو گا۔ یوں

$$A\boldsymbol{i}+B\boldsymbol{j}+C\boldsymbol{k} \quad \text{اور} \quad Ax+By+Cz=D$$

۱۸۳۲۸ ایک دوسرے کے عمودی ہوں گے۔

۱۸۳۲۹ مثال ۱۱.۴۱: تین نقطے سطح تعین کرتے ہیں
۱۸۳۳۰ نقاط $A(0,0,1)$ ، $B(2,0,0)$ اور $C(0,3,0)$ سے گزرتے ہوئے مستوی کی مساوات تلاش کریں۔

۱۸۳۳۱ حل: ہم ان نقاط کو استعمال کرتے ہوئے سطح کا عمودی سمتیہ تلاش کرتے ہیں۔

$$\vec{AB} \times \vec{AC} = \begin{vmatrix} \boldsymbol{i} & \boldsymbol{j} & \boldsymbol{k} \\ 2 & 0 & -1 \\ 0 & 3 & -1 \end{vmatrix} = 3\boldsymbol{i} + 2\boldsymbol{j} + 6\boldsymbol{k}$$

۱۸۳۳۲ ہم اس عمودی سمتیہ کے اجزاء اور (سطح پر کسی بھی) نقطہ $(0,0,1)$ کو مساوات ۶ میں پر کر کے مستوی کی مساوات حاصل کرتے ہیں۔

$$\begin{aligned} 3(x-0)+2(y-0)+6(z-1) &= 0 \\ 3x+2y+6z &= 6 \end{aligned}$$

۱۸۳۳۳ □

۱۸۳۳۴ مثال ۱۱.۴۲: سطح اور لکیر کی انقطاع

۱۸۳۳۵ وہ نقطہ دریافت کریں جہاں خط

$$x = \frac{8}{3} + 2t, \quad y = -2t, \quad z = 1 + t$$

۱۸۳۳۶ مستوی $3x + 2y + 6z = 6$ کو قطع کرتا ہو۔

۱۸۳۳۷ حل: نقطہ

$$\left(\frac{8}{3} + 2t, -2t, 1 + t\right)$$

۱۸۳۳۸ اس سطح میں پایا جاتا ہے جو مستوی کی (درج ذیل) مساوات کو مطمئن کرتا ہے۔

$$\begin{aligned} 3\left(\frac{8}{3}+2t\right)+2(-2t)+6(1+t) &= 6 \\ 8+6t-4t+6+6t &= 6 \\ 8t &= -8 \\ t &= -1 \end{aligned}$$

۱۸۳۳۹ نقطہ تقاطع درج ذیل ہو گا۔

$$(x,y,z)|_{t=-1} = \left(\frac{8}{3} - 2, 2, 1-1\right) = \left(\frac{2}{3}, 2, 0\right)$$

۱۸۳۴۰ □

۱۸۳۴۱ مثال ۱۱.۴۳: نقطہ سے مستوی تک فاصلہ

۱۸۳۴۲ نقطہ $S(1,1,3)$ سے سطح $3x + 2y + 6z = 6$ تک فاصلہ کتنا ہے؟

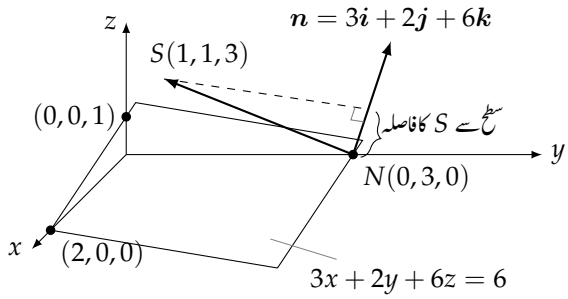

شکل ۱۱.۴۶: نقطہ S سے سطح تک فاصلہ $\overrightarrow{NS}$ کی $\boldsymbol{n}$ پر سمتیہ تظلیل کی لمبائی کے برابر ہو گا۔

۱۸۴۴۳ حل: ہم مستوی میں نقطہ N تلاش کر کے سمتیہ $\overrightarrow{NS}$ کا $\boldsymbol{n}$ پر تظلیل معلوم کر کے فاصلہ حاصل کرتے ہیں (شکل ۱۱.۴۶)۔

۱۸۴۴۴ مساوات $3x + 2y + 6z = 6$ کے عددی سروں سے درج ذیل عمودی سمتیہ حاصل ہو گا۔

$$\boldsymbol{n} = 3\boldsymbol{i} + 2\boldsymbol{j} + 6\boldsymbol{k}$$

۱۸۴۴۵ مستوی کی مساوات سے مستوی میں نقاط حاصل کرتے ہیں۔ ان میں محوری قطعات معلوم کرنا بہت آسان ہوتا ہے۔ اگر ہم قطع y کو N لیں تب درج ذیل
۱۸۴۴۶ ہو گا۔

$$\begin{aligned}
\overrightarrow{NS} &= (1-0)\boldsymbol{i} + (1-3)\boldsymbol{j} + (3-0)\boldsymbol{k} \\
&= \boldsymbol{i} - 2\boldsymbol{j} + 3\boldsymbol{k} \\
|\boldsymbol{n}| &= \sqrt{(3)^2 + (2)^2 + (6)^2} = \sqrt{49} = 7
\end{aligned}$$

۱۸۴۴۷ نقطہ S سے سطح تک فاصلہ درج ذیل ہو گا۔

$$\begin{aligned}
d &= \left| \overrightarrow{NS} \cdot \frac{\boldsymbol{n}}{|\boldsymbol{n}|} \right| \\
&= \left| (\boldsymbol{i} - 2\boldsymbol{j} + 3\boldsymbol{k}) \cdot \left(\frac{3}{7}\boldsymbol{i} + \frac{2}{7}\boldsymbol{j} + \frac{6}{7}\boldsymbol{k} \right) \right| \\
&= \left| \frac{3}{7} - \frac{4}{7} + \frac{18}{7} \right| = \frac{17}{7}
\end{aligned}$$

۱۸۴۴۸ □

۱۸۴۴۹ **سطحوں کے بیچ زاویات؛ خطوط تقاطع**

۱۸۴۵۰ دو متقاطع سطحوں کے بیچ زاویہ سے مراد ان کے عمودی سمتیات کے بیچ زاویہ حادہ ہے (شکل ۱۱.۴۷)۔

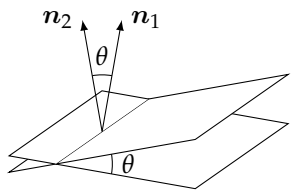

شکل ۱۱.۴۷: دو سطحوں کے بیچ زاویہ، ان سطحوں کے عمودی سمتیات کے بیچ زاویہ کے برابر ہوتا ہے۔

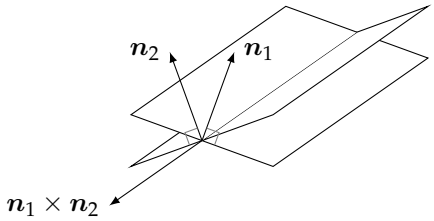

شکل ۱۱.۴۸: سطحوں کا خط تقاطع کا سطحوں کے عمودی سمتیات کے ساتھ تعلق۔

۱۸۳۵۱ مثال ۱۱.۴۴: سطح $3x - 6y - 2z = 15$ اور سطح $2x + y - 2z = 5$ کے بیچ زاویہ دریافت کریں۔

۱۸۳۵۲ حل: ان سطحوں کے عمودی سمتیات درج ذیل ہیں۔

$$\boldsymbol{n}_1 = 3\boldsymbol{i} - 6\boldsymbol{j} - 2\boldsymbol{k}, \quad \boldsymbol{n}_2 = 2\boldsymbol{i} + \boldsymbol{j} - 2\boldsymbol{k}$$

۱۸۳۵۳ ان کے بیچ زاویہ درج ذیل ہو گا۔

$$\begin{aligned} \theta &= \cos^{-1}\left(\frac{\boldsymbol{n}_1 \cdot \boldsymbol{n}_2}{|\boldsymbol{n_1}||\boldsymbol{n}_2|}\right) && \text{مساوات ۴} \\ &= \cos^{-1}\left(\frac{4}{21}\right) \\ &\approx 1.38 \text{ ریڈیئن} \end{aligned}$$

۱۸۳۵۴ □

۱۸۳۵۵ مثال ۱۱.۴۵: سطح $3x - 6y - 2z = 15$ اور سطح $2x + y - 2z = 5$ کے خط تقاطع کی مساوات تلاش کریں۔

۱۸۳۵۶ حل: سطحوں کے عمودی سمتیات $\boldsymbol{n}_1$ ، $\boldsymbol{n}_2$ خط تقاطع کے عمودی ہوں گے لہٰذا خط تقاطع اور $\boldsymbol{n}_1 \times \boldsymbol{n}_2$ ایک دوسرے کے متوازی ہوں گے
۱۸۳۵۷ (شکل ۱۱.۴۸)۔ اس کو دوسری نظر سے دیکھتے ہوئے ہم کہہ سکتے ہیں کہ $\boldsymbol{n}_1 \times \boldsymbol{n}_2$ خط تقاطع کے متوازی ہو گا۔ موجودہ مثال میں درج ذیل ہو گا۔

$$\boldsymbol{n}_1 \times \boldsymbol{n}_2 = \begin{vmatrix} \boldsymbol{i} & \boldsymbol{j} & \boldsymbol{k} \\ 3 & -6 & -2 \\ 2 & 1 & -2 \end{vmatrix} = 14\boldsymbol{i} + 2\boldsymbol{j} + 15\boldsymbol{k}$$

۱۸۳۵۸ سمتیہ $14\boldsymbol{i} + 2\boldsymbol{j} + 15\boldsymbol{k}$ کا ہر غیر صفر غیر سمتی مضرب بھی درست جواب ہو گا۔ □

۱۸۳۵۹ مثال ۱۱.۴۶: اس لکیر کی مساوات تلاش کریں جس پر سطح $3x - 6y - 2z = 15$ اور سطح $2x + y - 2z = 5$ ایک دوسرے کو
۱۸۳۶۰ قطع کرتے ہیں۔

حل: ہم اس لکیر کے متوازی خط کی مساوات اور لکیر پر ایک نقطہ تلاش کر کے مساوات ۱۲ استعمال کرتے ہیں۔

ہم مثال ۱۱.۴۵ میں خط تقاطع کا متوازی خط $\boldsymbol{v} = 14\boldsymbol{i} + 2\boldsymbol{j} + 15\boldsymbol{k}$ تلاش کر چکے ہیں۔ خط پر نقطہ معلوم کرنے کی خاطر ہم دونوں سطحوں کا کوئی بھی مشترک نقطہ لے سکتے ہیں۔ یوں $z = 0$ لے کر دونوں سطحوں کی مساواتوں کو ایک ساتھ حل کر کے نقطہ $(3, -1, 0)$ حاصل ہوتا ہے۔ یوں خط تقاطع درج ذیل ہو گا۔

$$x = 3 + 14t, \quad y = -1 + 2t, \quad z = 15t$$

□

سوالات

خطوط اور خطی قطعات

سوال ۱۱.۲۲۷ تا سوال ۱۱.۲۳۸ میں خطوط کی مقدار معلوم مساوات حاصل کریں۔

سوال ۱۱.۲۲۷: سمتیہ $\boldsymbol{i} + \boldsymbol{j} + \boldsymbol{k}$ کا متوازی اور نقطہ $N(3, -4, -1)$ سے گزرتا خط۔

سوال ۱۱.۲۲۸: نقاط $N(1, 2, -1)$ اور $Q(-1, 0, 1)$ سے گزرتا خط۔

سوال ۱۱.۲۲۹: نقاط $N(-2, 0, 3)$ اور $Q(3, 5, -2)$ سے گزرتا خط۔

سوال ۱۱.۲۳۰: نقاط $N(1, 2, 0)$ اور $Q(1, 1, -1)$ سے گزرتا خط۔

سوال ۱۱.۲۳۱: سمتیہ $2\boldsymbol{j} + \boldsymbol{k}$ کا متوازی اور مبدا سے گزرتا خط۔

سوال ۱۱.۲۳۲: نقطہ $N(3, -2, 1)$ سے گزرتا اور لکیر $x = 1 + 2t,\ y = 2 - t,\ z = 3t$ کا متوازی خط۔

سوال ۱۱.۲۳۳: محور z کا متوازی لکیر $(1, 1, 1)$ کا متوازی خط۔

سوال ۱۱.۲۳۴: نقطہ $(2, 4, 5)$ سے گزرتا اور سطح $3x + 7y - 5z = 21$ کا قائمہ خط۔

سوال ۱۱.۲۳۵: نقطہ $(0, -7, 0)$ سے گزرتا اور سطح $x + 2y + 2z = 13$ کا قائمہ خط۔

سوال ۱۱.۲۳۶: نقطہ (2,3,0) سے گزرتا خط جو سمتیات $\boldsymbol{A} = \boldsymbol{i} + 2\boldsymbol{j} + 3\boldsymbol{k}$ اور $\boldsymbol{B} = 3\boldsymbol{i} + 4\boldsymbol{j} + 5\boldsymbol{k}$ کا قائمہ ہو۔

سوال ۱۱.۲۳۷: محور x

سوال ۱۱.۲۳۸: محور z

سوال ۱۱.۲۳۹ تا سوال ۱۱.۲۴۶ میں دیے گئے نقطوں کے بیچ قطعات کی مقدار معلوم مساوات معلوم کریں۔ محددی محور کھینچ کر قطعات دکھائیں۔ بڑھتے ہوئے t کے رخ کی نشاندہی کریں۔

سوال ۱۱.۲۳۹: $(0, 0, 0)$، $(1, 1, 3/2)$

سوال ۱۱.۲۴۰: $(0, 0, 0)$، $(1, 0, 0)$

سوال ۱۱.۲۴۱: $(1,0,0)$، $(1,1,0)$

سوال ۱۱.۲۴۲: $(1,1,0)$، $(1,1,1)$

سوال ۱۱.۲۴۳: $(0,1,1)$، $(0,-1,1)$

سوال ۱۱.۲۴۴: $(0,2,0)$، $(3,0,0)$

سوال ۱۱.۲۴۵: $(2,0,2)$، $(0,2,0)$

سوال ۱۱.۲۴۶: $(1,0,-1)$، $(0,3,0)$

سطحیں

سوال ۱۱.۲۴۷ تا سوال ۱۱.۲۵۴ میں سطحیں کی مساوات تلاش کریں۔

سوال ۱۱.۲۴۷: نقطہ $N_0(0,2,-1)$ سے گزرتا سمتیہ $\boldsymbol{n} = 3\boldsymbol{i} - 2\boldsymbol{j} - \boldsymbol{k}$ کا عمودی سطح۔

سوال ۱۱.۲۴۸: نقطہ $(1,-1,3)$ سے گزرتا سمتیہ $3x + y + z = 7$ کا متوازی سطح۔

سوال ۱۱.۲۴۹: نقاط $(1,1,-1)$ ، $(2,0,2)$ اور $(0,-2,1)$ سے گزرتا سطح۔

سوال ۱۱.۲۵۰: نقاط $(2,4,5)$ ، $(1,5,7)$ اور $(-1,6,8)$ سے گزرتا سطح۔

سوال ۱۱.۲۵۱: نقطہ $N_0(2,4,5)$ سے گزرتا لکیر $x = 5 + t,\ y = 1 + 3t,\ z = 4t$ کا قائمہ سطح۔

سوال ۱۱.۲۵۲: نقطہ $A(1,-2,1)$ سے گزرتا ہوا سطح جو مبدا سے A تک سمتیہ کا قائمہ ہو۔

سوال ۱۱.۲۵۳: خطوط $x = 2t + 1,\ y = 3t + 2,\ z = 4t + 3$ اور $x = s + 2,\ y = 2s + 4,\ z = -4s - 1$ کا نقطہ تقاطع تلاش کر کے وہ خط معلوم کریں جن میں یہ خطوط پائے جاتے ہیں۔

سوال ۱۱.۲۵۴: خطوط $x = t,\ y = -t + 2,\ z = t + 1$ اور $x = 2s + 2,\ y = s + 3,\ z = 5s + 6$ کا نقطہ تقاطع تلاش کر کے وہ خط معلوم کریں جن میں یہ خطوط پائے جاتے ہیں۔

سوال ۱۱.۲۵۵ اور سوال ۱۱.۲۵۶ میں مقطع خطوط سطح تعین کرتے ہیں۔ اس سطح کو تلاش کریں۔

سوال ۱۱.۲۵۵:

$$\begin{aligned} L_1: &\quad x = -1 + t,\ y = 2 + t,\ z = 1 - t,\ -\infty < t < \infty \\ L_2: &\quad x = 1 - 4s,\ y = 1 + 2s,\ z = 2 - 2s,\ -\infty < s < \infty \end{aligned}$$

سوال ۱۱.۲۵۶:

$$\begin{aligned} L_1: &\quad x = t,\ y = 3 - 3t,\ z = -2 - t,\ -\infty < t < \infty \\ L_2: &\quad x = 1 + s,\ y = 4 + s,\ z = -1 + s,\ -\infty < s < \infty \end{aligned}$$

سوال ۱۱.۲۵۷: سطحیں $2x + y - z = 3,\ x + 2y + z = 2$ کے خط تقاطع کا قائمہ سطح جو نقطہ $N_0(2, 1, -1)$ سے گزرتا ہو تلاش کریں۔

سوال ۱۱.۲۵۸: سطح $4x - y + 2z = 7$ کا قائمہ اور نقاط $N_1(1, 2, 3)$ ، $N_2(3, 2, 1)$ سے گزرتا سطح تلاش کریں۔

فاصلہ

سوال ۱۱.۲۵۹ تا سوال ۱۱.۲۶۴ میں نقطہ اور لکیر کے بیچ فاصلہ دریافت کریں۔

سوال ۱۱.۲۵۹: $(0, 0, 12) : \quad x = 4t,\ y = -2t,\ z = 2t$

سوال ۱۱.۲۶۰: $(0, 0, 0) : \quad x = 5 + 3t,\ y = 5 + 4t,\ z = -3 - 5t$

سوال ۱۱.۲۶۱: $(2, 1, 3) : \quad x = 2 + 2t,\ y = 1 + 6t,\ z = 3$

سوال ۱۱.۲۶۲: $(2, 1, -1) : \quad x = 2t,\ y = 1 + 2t,\ z = 2t$

سوال ۱۱.۲۶۳: $(3, -1, 4) : \quad x = 4 - t,\ y = 3 + 2t,\ z = -5 + 3t$

سوال ۱۱.۲۶۴: $(-1, 4, 3) : \quad x = 10 + 4t,\ y = -3,\ z = 4t$

سوال ۱۱.۲۶۵ تا سوال ۱۱.۲۷۰ میں نقطہ سے لکیر تک فاصلہ دریافت کریں۔

سوال ۱۱.۲۶۵: $(2, -3, 4), \quad x + 2y + 2z = 13$

سوال ۱۱.۲۶۶: $(0, 0, 0), \quad 3x + 2y + 6z = 6$

سوال ۱۱.۲۶۷: $(0, 1, 1), \quad 4y + 3z = -12$

سوال ۱۱.۲۶۸: $(2, 2, 3), \quad 2x + y + 2z = 4$

سوال ۱۱.۲۶۹: $(0, -1, 0), \quad 2x + y + 2z = 4$

سوال ۱۱.۲۷۰: $(1, 0, -1), \quad -4x + y + z = 4$

سوال ۱۱.۲۷۱: سطح $x + 2y + 6z = 1$ سے سطح $x + 2y + 6z = 10$ تک فاصلہ تلاش کریں۔

سوال ۱۱.۲۷۲: لکیر $x = 2 + t,\ y = 1 + t,\ z = -\frac{1}{2} - \frac{t}{2}$ سے سطح $x + 2y + 6z = 10$ تک فاصلہ معلوم کریں۔

زاویات

سوال ۱۱.۲۷۳ اور سوال ۱۱.۲۷۴ میں سطحوں کے بیچ زاویات تلاش کریں۔ آپ کو کیلکولیٹر کی ضرورت پیش نہیں آئے گی۔

سوال ۱۱.۲۷۳: $x + y = 1, \quad 2x + y - 2z = 2$

سوال ۱۱.۲۷۴: $5x + y - z = 10, \quad x - 2y + 3z = -1$

سوال ۱۱.۲۷۵ تا سوال ۱۱.۲۷۸ میں سطحوں کے بیچ زاویہ حادہ کو کیلکولیٹر کی مدد سے تلاش کریں۔ جواب ایک ریڈیئن کے سواں حصہ تک درست ہو۔

سوال ۱۱.۲۷۵: $2x + 2y + 2z = 3, \quad 2x - 2y - z = 5$

۱۸۳۳۶ سوال ۱۱.۲۷۶: $x + y + z = 1, \quad z = 0$

۱۸۳۳۷ سوال ۱۱.۲۷۷: $2x + 2y - z = 3, \quad x + 2y + z = 2$

۱۸۳۳۸ سوال ۱۱.۲۷۸: $4y + 3z = -12, \quad 3x + 2y + 6z = 6$

۱۸۳۳۹ مقطع خطوط اور سطحیں

۱۸۳۴۰ سوال ۱۱.۲۷۹ تا سوال ۱۱.۲۸۲ میں وہ نقطہ تلاش کریں جہاں دی گئی لکیر سطح کو مس کرتی ہے۔

۱۸۳۴۱ سوال ۱۱.۲۷۹: $x = 1 - t,\ y = 3t,\ z = 1 + t; \quad 2x - y + 3z = 6$

۱۸۳۴۲ سوال ۱۱.۲۸۰: $x = 2,\ y = 3 + 2t,\ z = -2 - 2t; \quad 6x + 3y - 4z = -12$

۱۸۳۴۳ سوال ۱۱.۲۸۱: $x = 1 + 2t,\ y = 1 + 5t,\ z = 3t; \quad x + y + z = 2$

۱۸۳۴۴ سوال ۱۱.۲۸۲: $x = -1 + 3t,\ y = -2,\ z = 5t; \quad 2x - 3z = 7$

۱۸۳۴۵ سوال ۱۱.۲۸۳ تا سوال ۱۱.۲۸۶ میں سطحوں کے خط تقاطع کی مقدار معلوم مساوات تلاش کریں۔

۱۸۳۴۶ سوال ۱۱.۲۸۳: $x + y + z = 1, \quad x + y = 2$

۱۸۳۴۷ سوال ۱۱.۲۸۴: $3x - 6y - 2z = 3, \quad 2x + y - 2z = 2$

۱۸۳۴۸ سوال ۱۱.۲۸۵: $x - 2y + 4z = 2, \quad x + y - 2z = 5$

۱۸۳۴۹ سوال ۱۱.۲۸۶: $5x - 2y = 11, \quad 4y - 5z = -17$

۱۸۳۵۰ فضا میں دو ہمسطحی خطوط متوازی ہوں گے، یا ایک دوسرے کو قطع کریں گے۔ غیر ہمسطحی خطوط ایک دوسرے کے غیر متوازی ہوں گے اور یہ ایک دوسرے
۱۸۳۵۱ کو قطع نہیں کریں گے۔ سوال ۱۱.۲۸۷ اور سوال ۱۱.۲۸۸ میں تین لکیریں دی گئی ہیں۔ ایک وقت میں دو خطوط لیتے ہوئے دیکھیں آیا یہ متوازی ہیں، ایک
۱۸۳۵۲ دوسرے کو قطع کرتے ہیں یا یہ غیر ہمسطحی ہیں؟

۱۸۳۵۳ سوال ۱۱.۲۸۷:

$$\begin{aligned} L_1 :&\quad x = 3 + 2t,\ y = -1 + 4t,\ z = 2 - t,\ -\infty < t < \infty \\ L_2 :&\quad x = 1 + 4s,\ y = 1 + 2s,\ z = -3 + 4s,\ -\infty < s < \infty \\ L_3 :&\quad x = 3 + 2r,\ y = 2 + r,\ z = -2 + 2r,\ -\infty < r < \infty \end{aligned}$$

۱۸۳۵۴ سوال ۱۱.۲۸۸:

$$\begin{aligned} L_1 :&\quad x = 1 + 2t,\ y = -1 - t,\ z = 3t,\ -\infty < t < \infty \\ L_2 :&\quad x = 2 - s,\ y = 3s,\ z = 1 + s,\ -\infty < s < \infty \\ L_3 :&\quad x = 5 + 2r,\ y = 1 - r,\ z = 8 + 3r,\ -\infty < r < \infty \end{aligned}$$

۱۸۳۵۵ نظریہ اور مثالیں

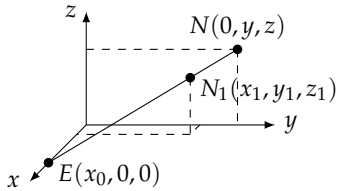

شکل ۱۱.۴۹: تظلیل (سوال ۱۱.۲۹۹)

سوال ۱۱.۲۸۹: نقطہ $N_1(2,-4,7)$ سے گزرتا خط جو $\boldsymbol{v}_1 = 2\boldsymbol{i} - \boldsymbol{j} + 3\boldsymbol{k}$ کے متوازی ہو کی مقدار معلوم مساوات کو مساوات ۲ کی مدد سے دریافت کریں۔ اس کے بعد نقطہ $N_2(3,-2,0)$ اور سمتیہ $\boldsymbol{v}_2 = -\boldsymbol{i} + \frac{1}{2}\boldsymbol{j} - \frac{3}{2}\boldsymbol{k}$ استعمال کرتے ہوئے اس کی مقدار معلوم مساوات تلاش کریں۔

سوال ۱۱.۲۹۰: نقطہ $N_1(4,1,5)$ سے گزرتی $\boldsymbol{n}_1 = \boldsymbol{i} - 2\boldsymbol{j} + \boldsymbol{k}$ کی قائمہ سطح کی مساوات کو مساوات ۶ کی مدد سے حاصل کریں۔ اب نقطہ $N_2(3,-2,0)$ اور عمودی سمتیہ $\boldsymbol{n}_2 = -\sqrt{2}\boldsymbol{i} + 2\sqrt{2}\boldsymbol{j} - \sqrt{2}\boldsymbol{k}$ استعمال کرتے ہوئے اس کی مساوات تلاش کریں۔

سوال ۱۱.۲۹۱: وہ نقاط تلاش کریں جن پر لکیر $x = 1 + 2t,\ y = -1 - t,\ z = 3t$ محوری مستوی کو مس کرتی ہو۔ جواب تک پہنچنے کے لئے اپنا طریقہ سوچ بیان کریں۔

سوال ۱۱.۲۹۲: سطح $z = 3$ میں اس خط کی مساوات تلاش کریں جو $\boldsymbol{i}$ کے ساتھ $\frac{\pi}{6}$ ریڈیئن اور $\boldsymbol{i}$ کے ساتھ $\frac{\pi}{3}$ ریڈیئن زاویہ بناتا ہو۔ اپنا طریقہ سوچ بیان کریں۔

سوال ۱۱.۲۹۳: کیا خط $x = 1 - 2t,\ y = 2 + 5t,\ z = -3t$ سطح $2x + y - z = 8$ کا متوازی ہے؟ اپنے جواب کی وجہ پیش کریں۔

سوال ۱۱.۲۹۴: آپ کس طرح بتا سکتے ہیں کہ سطح $A_1x + B_1y + C_1z = D_1$ اور سطح $A_2x + B_2y + C_2z = D_2$ ایک دوسرے کے متوازی یا قائمہ ہیں؟ اپنے جواب کی وجہ پیش کریں۔

سوال ۱۱.۲۹۵: دو سطحوں کا خط تقاطع $x = 1 + t,\ y = 2 - t,\ z = 3 + 2t$ ہے۔ ان سطحوں کی مساوات تلاش کریں۔ مساوات کی صورت $Ax + By + Cz = D$ ہو۔

سوال ۱۱.۲۹۶: وہ سطح دریافت کریں جس مبدا سے گزرتا ہو اور سطح $2x + 3y + z = 12$ کا قائمہ ہو۔ آپ کیسے جانتے ہیں کہ یہ سطحیں ایک دوسرے کے قائمہ ہیں؟

سوال ۱۱.۲۹۷: غیر صفر اعداد a ، b اور c کے لئے $\frac{x}{a} + \frac{y}{b} + \frac{z}{c} = 1$ کی ترسیم ایک سطح ہو گی۔ کن سطحوں کی مساوات ایسی ہو گی؟

سوال ۱۱.۲۹۸: فرض کریں L_1 اور L_2 غیر تقاطع، غیر متوازی خطوط ہیں۔ کیا کوئی غیر صفر سمتیہ ان دونوں کا قائمہ ہو سکتا ہے؟ اپنے جواب کی وجہ پیش کریں۔

کمپیوٹر کا استعمال

سوال ۱۱.۲۹۹: کمپیوٹر تصویر کشی

ہم تین بعدی اجسام کو عموماً ایک مستوی پر ظاہر کرتے ہیں۔ فرض کریں آپ کی آنکھ $E(x_0,0,0)$ پر ہے اور ہم نقطہ $N_1(x_1,y_1,z_1)$ کو

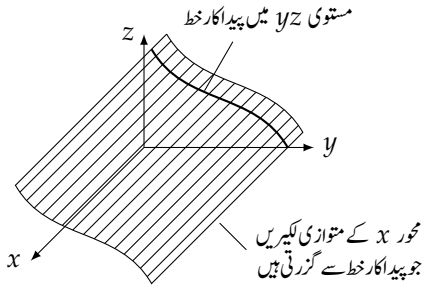

شکل ۱۱.۵۰: پیداکار خط اور نلکی

مستوی yz پر ظاہر کرنا چاہتے ہیں۔ ایسا کرنے کی خاطر ہم E سے N_1 تک شعاع استعمال کرتے ہوئے N_1 کی تظلیل مستوی پر بناتے ہیں۔ یوں مستوی ہر N_1 بطور $N(0, y, z)$ نظر آئے گا۔ ہمیں بطور ترسیمی تخلیق کار معلوم E اور N_1 سے y اور z حاصل کرنا ہے (شکل ۱۱.۴۹)۔

ا. $\overrightarrow{EN}$ اور $\overrightarrow{EN_1}$ کے تعلق کی سمتی مساوات لکھیں۔ اس مساوات کو استعمال کرتے ہوئے y اور z کو x_0 ، x_1 ، y_1 اور z_1 کی صورت میں لکھیں۔

ب. جزو-ا میں حاصل نتائج کو پرکھنے کی خاطر $x_1 = 0$ اور $x_1 = x_0$ پر y اور z کا رویہ دیکھیں اور $x_0 \to \infty$ کرتے ہوئے دیکھیں کیا ہوتا ہے۔

سوال ۱۱.۳۰۰: کمپیوٹر تصویر کشی کے ایک مسئلہ پر غور کرتے ہیں۔ آپ کی آنکھ $(4, 0, 0)$ پر ہے۔ آپ مثلث چادر کو دیکھ رہے ہیں جس کے راس $(1, 0, 1)$ ، $(1, 1, 0)$ اور $(-2, 2, 2)$ ہیں۔ نقطہ $(1, 0, 0,)$ سے $(0, 2, 2)$ تک قطعہ اس چادر کو چھیر کر گزرتا ہے۔ اس قطعہ کا کون سا حصہ نظر سے اوجھل ہو گا؟

۱۱.۶ نلکی اور مربع سطحیں

واحد متغیر کے تفاعل کی احصاء میں ہم نے خطوط سے شروع کیا اور خطوط کے بارے میں اپنا علم استعمال کرتے ہوئے مستوی قوسین کا مطالعہ کیا۔ ہم نے مماس پر غور کیا اور دیکھا کہ کسی بھی قابل تفرق منحنی کے چھوٹے حصہ کو خطی تصور کیا جا سکتا ہے۔ خاص اہمیت کے حامل منحنیات میں مخروطی قطعات، اور دو درجی منحنیات شامل ہیں جنہیں متغیر x اور y کے دو درجی مساوات سے ظاہر کیا جا سکتا ہے۔

ایک سے زائد متغیرات کے تفاعل کی احصاء کا مطالعہ کرنے کی خاطر ہم اسی طرح کی راہ پر چلتے ہیں۔ ہم دو بعدی سطح سے شروع کر کے اس سطح کے بارے میں اپنا علم استعمال کر کر فضا میں تین بعدی سطحوں پر غور کرتے ہیں۔ خاص اہمیت کے حامل سطحوں میں نلکیاں اور دو درجی سطحیں شامل ہیں جنہیں x ، y ، z کے دو درجی مساوات سے ظاہر کیا جا سکتا ہے۔ گزشتہ حصہ میں دو بعدی سطحوں پر غور کیا گیا۔ اس حصہ میں ہم تین بعدی سطحوں پر غور کرتے ہیں۔

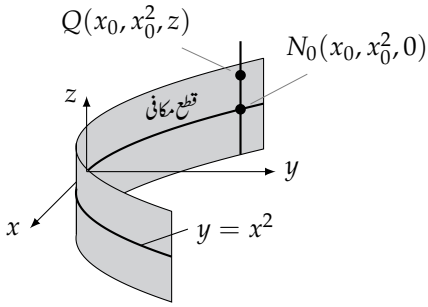

(ب) نلکی پر ہر نقطہ کے محدد (x_0, x_0^2, z) طرز کے ہیں لہٰذا ہم اس کو نلکی $y = x^2$ کہتے ہیں۔

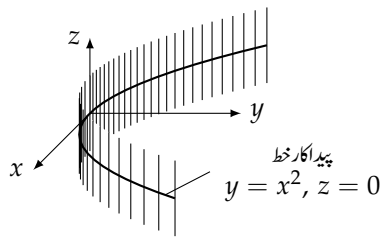

(ا) مستوی xy میں قطع مکافی $y = x^2$ سے گزرتے خط جو محور z کے متوازی ہیں۔

شکل ۱۱.۵۱: اشکال برائے مثال ۱۱.۴۷

۱۸۴۹۷ **نلکی**

۱۸۴۹۸ **نلکی**[۲۶] سے مراد وہ سطح ہے جو (ا) ان تمام لکیروں پر مشتمل ہو جو فضا میں کسی دی گئی لکیر کے متوازی ہوں اور (ب) جو دی گئی مستوی منحنی سے گزرتی ہوں۔
۱۸۴۹۹ اس منحنی کو نلکی کی **پیدا کار منحنی**[۲۷] کہتے ہیں (شکل ۱۱.۵۰)۔ ٹھوس جیومیٹری میں جہاں نلکی سے مراد دائری نلکی ہوتی ہے، پیدا کار منحنی ایک دائرہ ہو گی، لیکن
۱۸۵۰۰ یہاں ہم کسی بھی قسم کی پیدا کار منحنی کی اجازت دیں گے۔ ہماری (درج ذیل) پہلی مثال میں نلکی کو قطع مکافی پیدا کرتا ہے۔

۱۸۵۰۱ نلکی یا دیگر تین بعدی سطحوں کو ترسیم کرتے ہوئے یا قلم و کاغذ سے ان کا خاکہ بناتے ہوئے ان سطحوں کا محددی سطحوں کے متوازی سطحوں کے ساتھ خط تقاطع کو
۱۸۵۰۲ دیکھنا مفید ثابت ہوتا ہے۔ ان منحنیات کو **عمودی تراش**[۲۸] کہتے ہیں۔

۱۸۵۰۳ مثال ۱۱.۴۷: قطع مکافی نلکی $y = x^2$
۱۸۵۰۴ محور z کے متوازی لکیروں سے حاصل اس نلکی کی مساوات تلاش کریں جو قطع مکافی $y = x^2, z = 0$ سے گزرتی ہیں (شکل ۱۱.۵۱-ا)۔

۱۸۵۰۵ حل: فرض کریں مستوی xy میں قطع مکافی $y = x^2$ پر نقطہ $N_0(x_0, x_0^2, 0)$ پایا جاتا ہو۔ تب کسی بھی z کے لئے چونکہ نقطہ
۱۸۵۰۶ $Q(x_0, x_0^2, z)$ محور z کے متوازی لکیر $x = x_0, y = x_0^2$، جو نقطہ N_0 سے گزرتی ہے، پر پایا جائے گا لہٰذا Q اس نلکی پر پایا جائے گا
۱۸۵۰۷ (شکل ۱۱.۵۱-ب)۔

۱۸۵۰۸ اس طرح z کی قیمت سے قطع نظر اس سطح پر پائے جانے والے تمام نقاط مساوات $y = x^2$ کو مطمئن کریں گے۔ یوں $y = x^2$ اس نلکی کی مساوات
۱۸۵۰۹ ہو گی۔ اس کی وجہ سے ہم اس نلکی کو "نلکی $y = x^2$" کہتے ہیں۔ □

۱۸۵۱۰ ہم مثال ۱۱.۴۷ سے دیکھ سکتے ہیں کہ مستوی xy میں کوئی بھی منحنی $f(x, y) = c$ محور z کے متوازی نلکی دے گی اور اس نلکی کی مساوات
۱۸۵۱۱ $f(x, y) = c$ ہو گی۔ مساوات $x^2 + y^2 = 1$ ایک قائمہ نلکی بیان کرتی ہے جو محور z کے متوازی ان لکیروں پر مشتمل ہے جو مستوی xy

---

[۲۶] cylinder
[۲۷] generatingcurve
[۲۸] crosssection

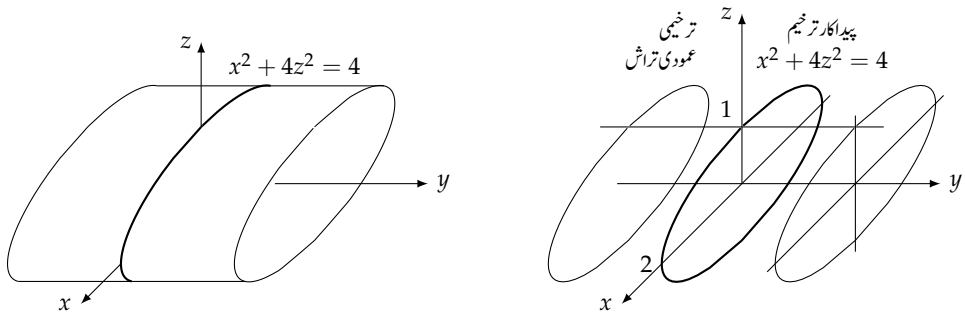

شکل ۱۱.۵۲: محور y کے متوازی لکیریں جو سطح xz میں پائی جاتی ہوں اور ترخیمی $x^2 + 4z^2 = 4$ سے گزرتی ہوں، ترخیمی نلکی $x^2 + 4z^2 = 4$ پیدا کرتی ہیں۔ محور y کے عمودی سطحیں اس نلکی سے ترخیمی عمودی تراش کاٹتی ہیں۔ یہ نلکی پوری محور y پر پائی جائے گی۔

میں دائرہ $x^2 + y^2 = 1$ سے گزرتے ہیں۔ مساوات $x^2 + 4y^2 = 9$ ایک ترخیمی نلکی بیان کرتی ہے جو محور z کے متوازی ان لکیروں پر مشتمل ہے جو مستوی xy میں ترخیم $x^2 + 4y^2 = 9$ سے گزرتے ہیں۔

اسی طرح مستوی xz میں کوئی بھی منحنی $g(x, z) = c$ محور y کے متوازی ایک نلکی دیتی ہے جس کی مساوات $g(x, z) = c$ ہو گی (شکل ۱۱.۵۲)۔ کوئی بھی مساوات $h(y, z) = c$ محور x کے متوازی نلکی دیتی ہے اور اس نلکی کی مساوات بھی $h(y, z) = c$ ہو گی (شکل ۱۱.۵۳)۔

تین کارتیسی محوروں میں سے کسی بھی دو محوروں پر مبنی مساوات ایک نلکی دیتی ہے جو تیسری کارتیسی محور کے متوازی ہو گی۔

مربع سطحیں

مربع سطح سے مراد فضا میں x ، y اور z کی دو درجی مساوات کی ترسیم ہے جس کی عمومی مساوات درج ذیل ہے

$$Ax^2 + By^2 + Cz^2 + Dxy + Eyz + Fxz + Gx + Hy + Jz + K = 0$$

جہاں A ، B ، C ، D ، E ، F ، G ، H ، J اور K مستقل ہیں۔ اس مساوات کی سادہ صورت، حصہ ۱۰.۳ میں دو بعدی صورت کی طرح، گھمانے اور منتقلی سے حاصل کی جا سکتی ہے۔ مربع سطح کی مساوات میں ایک یا ایک سے زیادہ متغیرات کا مربع پایا جاتا ہے۔ ہم صرف سادہ مساوات پر غور کریں گے۔ اگرچہ نلکی کی تعریف یہ نہیں کہتی ہے البتہ اشکال مربع سطحوں کی بھی مثالیں ہیں۔ ہم اب ترخیمی سطحوں (جن میں کرہ شامل ہے)، قطع مکافی سطحوں، مخروطی سطحوں اور قطع زائد سطحوں پر غور کرتے ہیں۔

مثال ۱۱.۴۸: **ترخیمی سطح**

$$\frac{x^2}{a^2} + \frac{y^2}{b^2} + \frac{z^2}{c^2} = 1 \qquad (۱)$$

محددی محوروں کو $(\mp a, 0, 0)$ ، $(0, \mp b, 0)$ اور $(0, 0, \mp c)$ پر مس کرتا ہے (شکل ۱۱.۵۴)۔ یہ اس مستطیل ڈبہ $|x| \leq a$ ، $|y| \leq b$ ، $|z| \leq c$ کے اندر پایا جاتا ہے۔ چونکہ اس سطح کی تعریفی مساوات میں متغیرات کا مربع پایا جاتا ہے لہٰذا یہ سطح تینوں محددی سطحوں کے لحاظ سے تشاکلی ہو گا۔

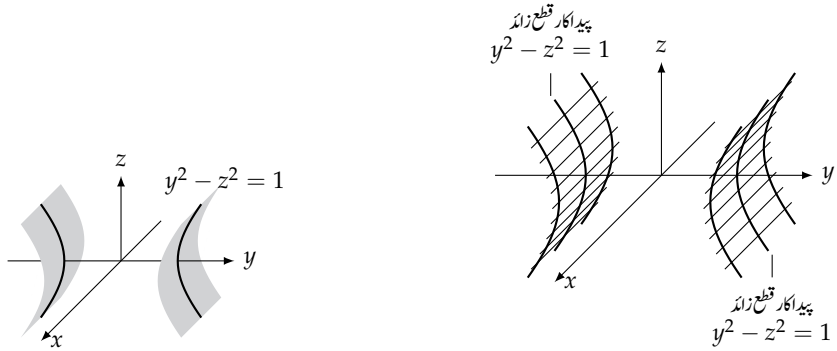

شکل ۱۱.۵۳: محور x کے متوازی اور مستوی yz میں پائی جانے والی وہ لکیریں جو قطع زائد $y^2 - z^2 = 1$ سے گزرتی ہوں، قطع زائد نلکی $y^2 - z^2 = 1$ پیدا کرتی ہیں۔ محور x کے عمودی سطحیں اس سے قطع زائد کاٹتی ہیں۔

۱۸۵۲۷ تینوں محددی سطحوں کا اس سطح کے ساتھ منحنی تقاطع، ترخیمات ہوں گی۔ مثال کے طور پر محددی مستوی $z = 0$ اس سطح کو درج ذیل ترخیم پر قطع کرتا ہے۔

$$\frac{x^2}{a^2} + \frac{y^2}{b^2} = 1 \qquad\qquad z = 0$$

۱۸۵۲۸ سطح $|z_0| < c$ ، $z = z_0$ اس سطح سے درج ذیل ترخیمی حصہ کاٹتا ہے۔

$$\frac{x^2}{a^2(1 - z_0^2/c^2)} + \frac{y^2}{b^2(1 - z_0^2/c^2)} = 1$$

۱۸۵۲۹ اگر نصف محور a ، b اور c میں کوئی دو ایک دوسرے کے برابر ہوں تب یہ **ترخیمی سطح طواف** ہو گا۔ اگر تینوں ایک دوسرے کے برابر ہوں تب یہ سطح
۱۸۵۳۰ کرہ ہو گا۔ □

۱۸۵۳۱ **فنیات** فضا میں ذہنی تصویر کشی

۱۸۵۳۲ فضا میں سطحوں کی تصویر کشی کمپیوٹر کی مدد سے کی جا سکتی ہے۔ یہ مختلف دو بعدی سطحوں میں لکیریں کھینچ سکتا ہے۔ کمپیوٹر اشکال کو فضا میں گھمانے کا نظارہ پیش
۱۸۵۳۳ کر سکتا ہے گویا آپ جسم کو ہاتھ میں گھما رہے ہوں۔ کمپیوٹر اس کا خیال رکھتا ہے کہ اجسام کا سامنے حصہ نظر آئے جب کے اس کا پچھلا حصہ آنکھوں سے اوجھل
۱۸۵۳۴ رہے۔ عمومی طور پر کمپیوٹر کو سطحوں کی مقدار معلوم مساوات درکار ہوں گی۔

۱۸۵۳۵ مثال ۱۱.۴۹: سطح $x = 0$ اور سطح $y = 0$ کے لحاظ سے **ترخیمی قطع مکافی سطح**

$$\frac{x^2}{a^2} + \frac{y^2}{b^2} = \frac{z}{c} \tag{۲}$$

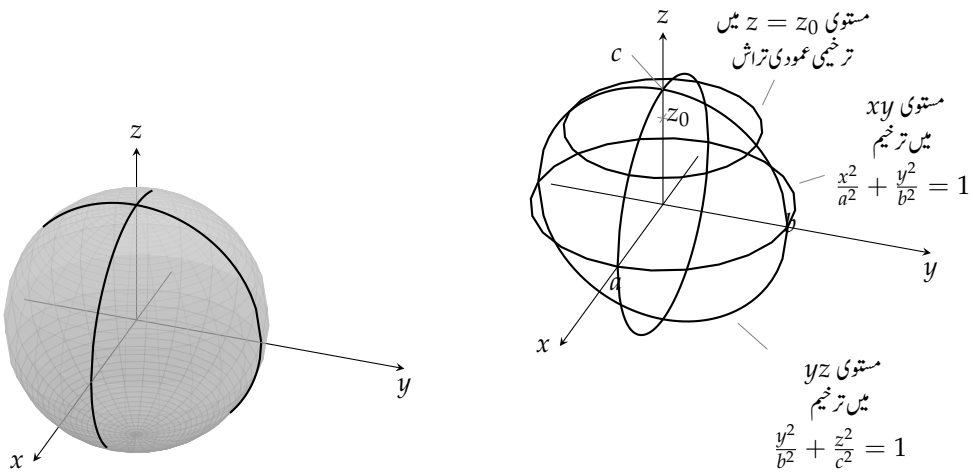

شکل ۱۱.۵۴: ترخیمی سطح

۱۸۵۳۶ تشاکلی ہو گا (شکل ۱۱.۵۵)۔ صرف مبدا پر محوری تقاطع پایا جاتا ہے۔ مستقل c کی علامت تعین کرتی ہے کہ یہ مکمل سطح xy سے نیچے یا اس سے اوپر پایا جائے
۱۸۵۳۷ گا۔ محددی سطح اس سے درج ذیل حصے کاٹتے ہیں۔

$$\begin{aligned} x = 0: &\quad z = \frac{c}{b^2} y^2 \text{ مکافی قطع} \\ y = 0: &\quad z = \frac{c}{a^2} x^2 \text{ مکافی قطع} \\ z = 0: &\quad (0,0,0) \text{ نقطہ} \end{aligned} \tag{۳}$$

۱۸۵۳۸ مستوی xy سے اوپر ہر سطح $z = z_0$ اسے درج ذیل ترخیم میں کاٹتا ہے۔

$$\frac{x^2}{a^2} + \frac{y^2}{b^2} = \frac{z_0}{c}$$

۱۸۵۳۹ □

۱۸۵۴۰ مثال ۱۱.۵۰: **دائری قطع مکافی سطح یا قطع مکافی سطح طواف**

$$\frac{x^2}{a^2} + \frac{y^2}{a = b^2} = \frac{z}{c} \tag{۴}$$

۱۸۵۴۱ کو مساوات ۲ میں $b = a$ پر کر کے حاصل کیا جاتا ہے۔ محور z کے عمودی سطحوں کی عمودی تراش سے دائرے حاصل ہوں گے جن کا مرکز محور z پر ہو
۱۸۵۴۲ گا۔ ان سطحوں کی عمودی تراش جن میں محور z پایا جاتا ہو، مماثل قطع مکافی ہوں گی جن کا مشترک ماسکہ $\left(0, 0, \frac{a^2}{4c}\right)$ ہو گا۔

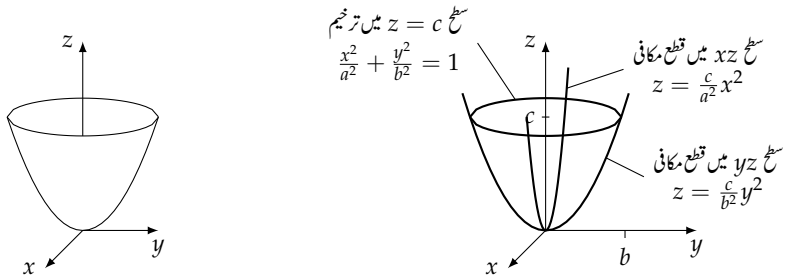

شکل ۱۱.۵۵: ترخیمی سطح (مثال ۱۱.۴۹)

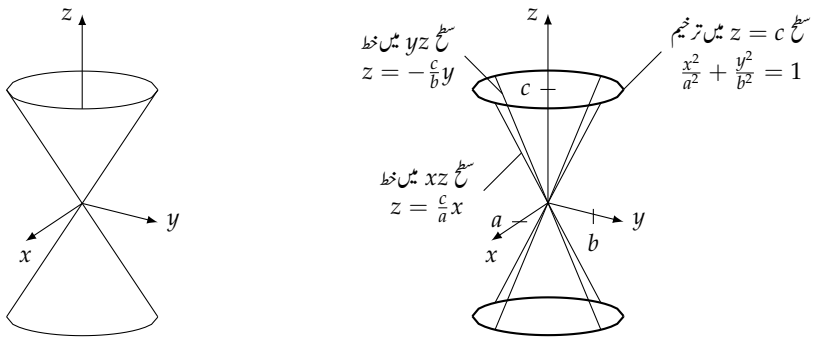

شکل ۱۱.۵۶: ترخیمی مخروط (مثال ۱۱.۵۱)

۱۸۵۴۳ دائری قطع مکافی سطحوں سے حصے تراش کر بطور ریڈیو دوربین، مصنوعی سیارے کے تعاقب کار، اور خورد امواج ریڈیو کے اینٹینا استعمال کئے جاتے ہیں۔ □

۱۸۵۴۴ مثال ۱۱.۵۱: **ترخیمی مخروط**

$$\frac{x^2}{a^2} + \frac{y^2}{b^2} = \frac{z^2}{c^2} \tag{۵}$$

۱۸۵۴۵ تینوں محددی سطحوں کے لحاظ سے تشاکلی ہے (شکل ۱۱.۵۶)۔ محددی سطحیں اس سے درج ذیل حصے کاٹتے ہیں۔

$$x = 0: \qquad z = \pm\frac{c}{b}y \text{ خط} \tag{۶}$$

$$y = 0: \qquad z = \pm\frac{c}{a}x \text{ خط} \tag{۷}$$

$$z = 0: \qquad (0,0,0) \text{ نقطہ}$$

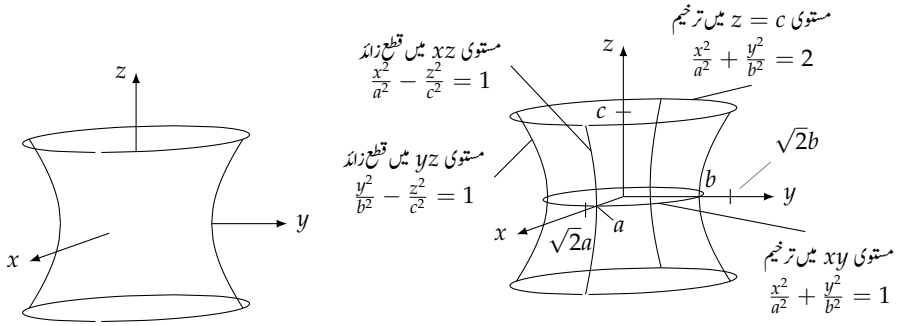

شکل ۱۱.۵۷: یک چادری قطع زائد سطح

۱۸۵۴۶ مستوی xy سے اوپر اور اس سے نیچے سطحیں $z = z_0$، اس سے ترخیمات کاٹتے ہیں جن کے مراکز محور z پر اور راس مساوات ۶ اور مساوات ۷ میں دی
۱۸۵۴۷ گئی خطوط پر پائے جاتے ہیں۔

۱۸۵۴۸ اگر $a = b$ ہو تب یہ مخروط ایک قائمہ دائری مخروط ہو گا۔ □

۱۸۵۴۹ مثال ۱۱.۵۲: یک چادری قطع زائد سطح

$$\frac{x^2}{a^2} + \frac{y^2}{b^2} - \frac{z^2}{c^2} = 1 \tag{۸}$$

۱۸۵۵۰ تینوں محددی سطحوں کے لحاظ سے تشاکلی ہو گا (شکل ۱۱.۵۷)۔ محددی سطحیں اس سے درج ذیل حصے کاٹتے ہیں۔

$$\begin{aligned} x = 0: &\quad \frac{y^2}{b^2} - \frac{z^2}{c^2} = 1 \text{ قطع زائد} \\ y = 0: &\quad \frac{x^2}{a^2} - \frac{z^2}{c^2} = 1 \text{ قطع زائد} \\ z = 0: &\quad \frac{x^2}{a^2} + \frac{y^2}{b^2} = 1 \text{ قطع زائد} \end{aligned} \tag{۹}$$

۱۸۵۵۱ سطح $z = z_0$ اس کو ترخیم میں کاٹتا ہے جس کا مرکز محور z پر اور راسیں مساوات ۹ میں دی گئی قطع مکافی میں سے ایک پر پائی جاتی ہیں۔

۱۸۵۵۲ یہ پوری سطح آپس میں جڑی ہوئی ہے یعنی اس سطح پر چل کر کسی ایک نقطہ سے دوسرے نقطہ تک پہنچا جا سکتا ہے۔ اسی لئے اس کو یک چادری قطع مکافی سطح کہتے
۱۸۵۵۳ ہیں۔ اگلی مثال میں دو چادر کی سطح پائی جاتی ہے۔

۱۸۵۵۴ اگر $a = b$ ہو تب یہ قطع زائد سطح ایک سطح طواف ہو گا۔ □

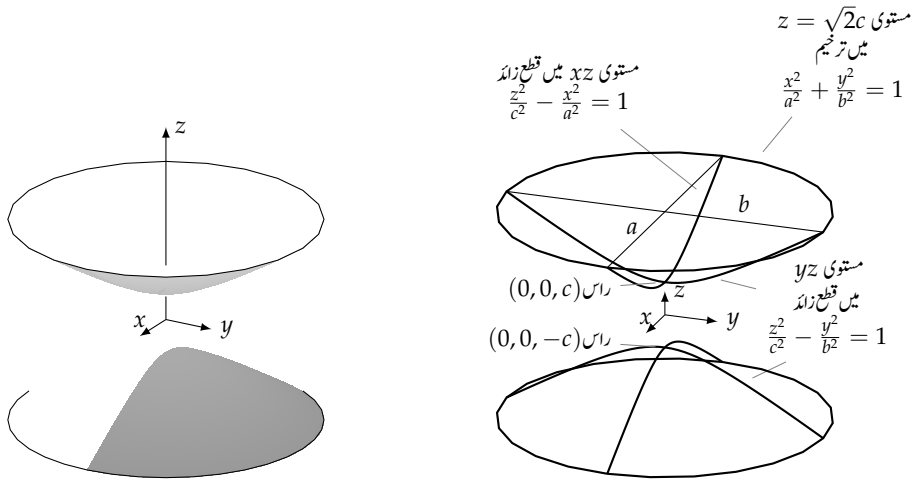

شکل ۱۱.۵۸: دو چادری قطع مکافی

۱۸۵۵۵ مثال ۱۱.۵۳: **دو چادری قطع مکافی سطح**

$$\frac{z^2}{c^2} - \frac{x^2}{a^2} - \frac{y^2}{b^2} = 1 \tag{۱۰}$$

۱۸۵۵۶ تینوں محددی سطحوں کے لحاظ سے تشاکلی ہے (شکل ۱۱.۵۸)۔ سطح $z = 0$ اس کو قطع نہیں کرتا ہے۔ درحقیقت ایک افقی سطح اس صورت اس کو قطع کرتا ہے
۱۸۵۵۷ جب $|z| \geq c$ ہو۔ قطع زائد حصوں

$$x = 0: \quad \frac{z^2}{c^2} - \frac{y^2}{b^2} = 1, \qquad\qquad y = 0: \quad \frac{z^2}{c^2} - \frac{x^2}{a^2} = 1$$

۱۸۵۵۸ کے راس اور ماسکے محور z پر پائے جاتے ہیں۔ یہ سطح دو حصوں میں تقسیم ہے۔ پہلا حصہ سطح $z = c$ سے اوپر اور دوسرا حصہ سطح $z = -c$ سے نیچے پایا
۱۸۵۵۹ جاتا ہے۔ اسی لئے اس کو دو چادری سطح کہتے ہیں۔

۱۸۵۶۰ مساوات ۸ اور مساوات ۱۰ میں منفی اجزاء کی تعداد ایک سا نہیں ہے۔ دونوں صورتوں میں منفی اجزاء کی تعداد اور چادروں کی تعداد ایک سی ہے۔ مساوات ۸ یا
۱۸۵۶۱ مساوات ۱۰ میں دائیں ہاتھ 1 کی جگہ 0 پر کرنے سے ترخیمی مخروط کی مساوات

$$\frac{x^2}{a^2} + \frac{y^2}{b^2} = \frac{z^2}{c^2}$$

۱۸۵۶۲ حاصل ہوتی ہے (مساوات ۵)۔ قطع زائد سطحیں اس مخروط کے متقارب ہیں۔ یہ بالکل ایسا ہی ہے جیسے قطع زائد

$$\frac{x^2}{a^2} - \frac{y^2}{b^2} = \mp 1$$

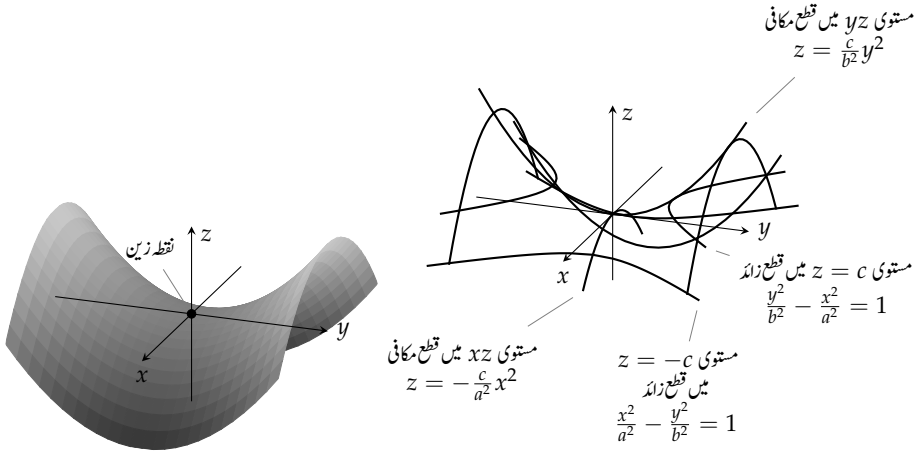

شکل ۱۱.۵۹: قطع زائد قطع مکافی سطح

۱۸۵۶۳ مستوی xy میں خط

$$\frac{x^2}{a^2} - \frac{y^2}{b^2} = 0$$

۱۸۵۶۴ کے متقارب ہیں۔ □

۱۸۵۶۵ مثال ۱۱.۵۴: **قطع زائد قطع مکافی سطح**

$$\frac{y^2}{b^2} - \frac{x^2}{a^2} = \frac{z}{c} \qquad c > 0 \tag{۱۱}$$

۱۸۵۶۶ سطح $x = 0$ اور سطح $y = 0$ کے لحاظ سے تشاکلی ہے (شکل ۱۱.۵۹)۔ قطع زائد قطع مکافی کی ان سطحوں کے ساتھ تقاطع درج ذیل ہوں گے۔

$$x = 0 : \qquad z = \frac{c}{b^2} y^2 \text{ مکافی قطع} \tag{۱۲}$$

$$y = 0 : \qquad z = -\frac{c}{a^2} x^2 \text{ مکافی قطع} \tag{۱۳}$$

۱۸۵۶۷ سطح $x = 0$ میں قطع مکافی مبدا سے اوپر رخ کھلتا ہے۔ سطح $y = 0$ میں قطع مکافی مبدا سے نیچے رخ کھلتا ہے۔

۱۸۵۶۸ قطع زائد قطع مکافی کو $z = z_0 > 0$ سے کاٹنے سے قطع زائد

$$\frac{y^2}{b^2} - \frac{x^2}{a^2} = \frac{z_0}{c}$$

حاصل ہو گا جس کا محور ماسکہ، محددی محور y کے متوازی ہو گا جبکہ اس کے راس مساوات ۱۲ کی قطع مکافی پر ہوں گے۔ اگر z_0 منفی ہو تب محور ماسکہ، محددی محور x کے متوازی ہو گا اور راس مساوات ۱۳ کی قطع مکافی پر ہو گا۔

مبدا کے قریب اس سطح کی صورت نقطہ ساکن کی طرح ہو گی۔ مستوی yz میں اس سطح پر چلتے ہوئے مبدا، کم سے کم نقطہ نظر آئے گا۔ مستوی xz میں اس سطح پر چلتے ہوئے مبدا، زیادہ سے زیادہ قیمت کا نقطہ نظر آئے گا۔ ایسے نقطہ کو سطح کا **کم زیادہ**[29] نقطہ یا **نقطہ زین**[30] کہتے ہیں۔ □

مائع آئینہ دوربین

دائری برتن میں مائع ڈال کر برتن کو عمودی محور کے گرد گھمانے سے سطح مائع افقی نہیں رہتا بلکہ یہ قطع مکافی سطح طواف کی صورت اختیار کرتا ہے جو بطور انعکاسی دوربین کے ابتدائی آئینہ استعمال کیا جا سکتا ہے۔ گزشتہ صدی کی ابتدا میں ایسا آئینہ استعمال کرتے ہوئے دوربین بنانے کی ناکام کوششیں کی گئیں۔ ناکامی کی وجہ مائع کی سطح پر ناختم ہونے والی لہریں اور رفتار میں تبدیلی کی وجہ سے ماسکہ کی تبدیلی تھی۔ آج کل ان مشکلات کو حل کرنا ممکن ہے اور گھومنے کی رفتار کو انتہا کی حد تک برقرار رکھا جا سکتا ہے۔

انہیں تصورات کو استعمال کرتے ہوئے مائع شیشہ کو ایک رفتار پر گھومتے ہوئے برتن میں آہستہ آہستہ ٹھنڈا ہونے دیا جاتا ہے حتیٰ کہ وہ ٹھوس ہو جائے۔ اس طرح بڑے سے بڑا آئینہ بنایا جا سکتا ہے۔

سوالات

سطحوں کی مساوات پہچانئے

سوال ۱۱.۳۰۱ تا سوال ۱۱.۳۱۲ میں سطحوں کی مساوات دی گئی ہیں۔ ان کے اشکال کو (ا) تا (ز) میں پہچانئے۔ سطح کی قسم (قطع مکافی سطح، قطع زائد سطح، وغیرہ) بھی پہچانئے۔

سوال ۱۱.۳۰۱: $x^2 + y^2 + 4z^2 = 10$

سوال ۱۱.۳۰۲: $z^2 + 4y^2 - 4x^2 = 4$

سوال ۱۱.۳۰۳: $9y^2 + z^2 = 16$

سوال ۱۱.۳۰۴: $y^2 + z^2 = x^2$

سوال ۱۱.۳۰۵: $x = y^2 - z^2$

سوال ۱۱.۳۰۶: $x = -y^2 - z^2$

سوال ۱۱.۳۰۷: $x^2 + 2z^2 = 8$

سوال ۱۱.۳۰۸: $z^2 + x^2 - y^2 = 1$

سوال ۱۱.۳۰۹: $x = z^2 - y^2$

---

[29] minimax
[30] saddlepoint

سوال ۱۱.۳۱۰: $z = -4x^2 - y^2$

سوال ۱۱.۳۱۱: $x^2 + 4z^2 = y^2$

سوال ۱۱.۳۱۲: $9x^2 + 4y^2 + 2z^2 = 36$

خاکہ

سوال ۱۱.۳۱۳ تا سوال ۱۱.۳۷۶ میں سطحوں کا خاکہ کھینچیں۔

نلکیاں

سوال ۱۱.۳۱۳: $x^2 + y^2 = 4$

سوال ۱۱.۳۱۴: $x^2 + z^2 = 4$

سوال ۱۱.۳۱۵: $z = y^2 - 1$

سوال ۱۱.۳۱۶: $x = y^2$

سوال ۱۱.۳۱۷: $x^2 + 4z^2 = 16$

سوال ۱۱.۳۱۸: $4x^2 + y^2 = 36$

سوال ۱۱.۳۱۹: $z^2 - y^2 = 1$

سوال ۱۱.۳۲۰: $yz = 1$

ترخیمی سطحیں

سوال ۱۱.۳۲۱: $9x^2 + y^2 + z^2 = 9$

سوال ۱۱.۳۲۲: $4x^2 + 4y^2 + z^2 = 16$

سوال ۱۱.۳۲۳: $4x^2 + 9y^2 + 4z^2 = 36$

سوال ۱۱.۳۲۴: $9x^2 + 4y^2 + 36z^2 = 36$

قطع مکافی سطحیں

سوال ۱۱.۳۲۵: $z = x^2 + 4y^2$

سوال ۱۱.۳۲۶: $z = x^2 + 9y^2$

سوال ۱۱.۳۲۷: $z = 8 - x^2 - y^2$

سوال ۱۱.۳۲۸: $z = 18 - x^2 - 9y^2$

سوال ۱۱.۳۲۹: $x = 4 - 4y^2 - z^2$

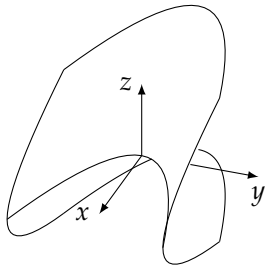

(ج)

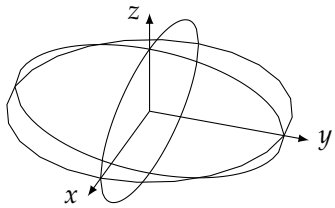

(ب)

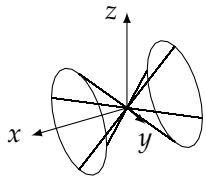

(ا)

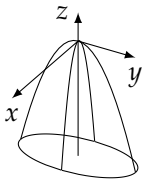

(و)

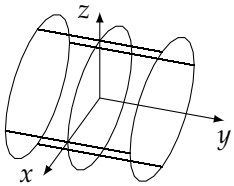

(ھ)

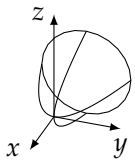

(د)

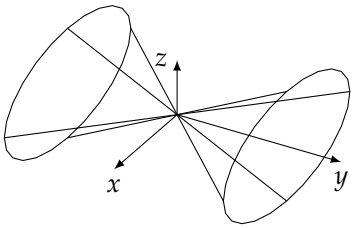

(ط)

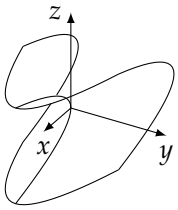

(ح)

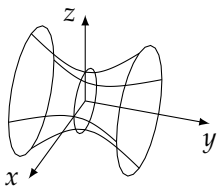

(ز)

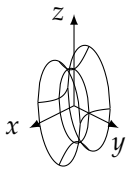

(یب)

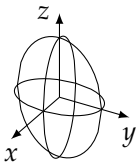

(یا)

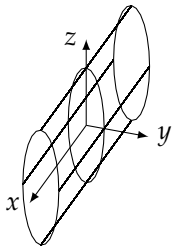

(ی)

سوال ۱۱.۳۳۰: $y = 1 - x^2 - z^2$

ترخیمات

سوال ۱۱.۳۳۱: $x^2 + y^2 = z^2$

سوال ۱۱.۳۳۲: $y^2 + z^2 = x^2$

سوال ۱۱.۳۳۳: $4x^2 + 9z^2 = 9y^2$

سوال ۱۱.۳۳۴: $9x^2 + 4y^2 = 36z^2$

قطع زائد سطحیں

سوال ۱۱.۳۳۵: $x^2 + y^2 - z^2 = 1$

سوال ۱۱.۳۳۶: $y^2 + z^2 - x^2 = 1$

سوال ۱۱.۳۳۷: $\frac{y^2}{4} + \frac{z^2}{9} - \frac{x^2}{4} = 1$

سوال ۱۱.۳۳۸: $\frac{x^2}{4} + \frac{y^2}{4} - \frac{z^2}{9} = 1$

سوال ۱۱.۳۳۹: $z^2 - x^2 - y^2 = 1$

سوال ۱۱.۳۴۰: $\frac{y^2}{4} - \frac{x^2}{4} - z^2 = 1$

سوال ۱۱.۳۴۱: $x^2 - y^2 - \frac{z^2}{4} = 1$

سوال ۱۱.۳۴۲: $\frac{x^2}{4} - y^2 - \frac{z^2}{4} = 1$

قطع زائد قطع مکافی سطحیں

سوال ۱۱.۳۴۳: $y^2 - x^2 = z$

سوال ۱۱.۳۴۴: $x^2 - y^2 = z$

مختلف سطحیں

سوال ۱۱.۳۴۵: $x^2 + y^2 + z^2 = 4$

سوال ۱۱.۳۴۶: $4x^2 + 4y^2 = z^2$

سوال ۱۱.۳۴۷: $z = 1 + y^2 - x^2$

سوال ۱۱.۳۴۸: $y^2 - z^2 = 4$

۱۸۶۴۸ سوال ۱۱.۳۴۹: $y = -(x^2 + z^2)$

۱۸۶۴۹ سوال ۱۱.۳۵۰: $z^2 - 4x^2 - 4y^2 = 4$

۱۸۶۵۰ سوال ۱۱.۳۵۱: $16x^2 + 4y^2 = 1$

۱۸۶۵۱ سوال ۱۱.۳۵۲: $z = x^2 + y^2 + 1$

۱۸۶۵۲ سوال ۱۱.۳۵۳: $x^2 + y^2 - z^2 = 4$

۱۸۶۵۳ سوال ۱۱.۳۵۴: $x = 4 - y^2$

۱۸۶۵۴ سوال ۱۱.۳۵۵: $x^2 + z^2 = y$

۱۸۶۵۵ سوال ۱۱.۳۵۶: $z^2 - \frac{x^2}{4} - y^2 = 1$

۱۸۶۵۶ سوال ۱۱.۳۵۷: $x^2 + z^2 = 1$

۱۸۶۵۷ سوال ۱۱.۳۵۸: $4x^2 + 4y^2 + z^2 = 4$

۱۸۶۵۸ سوال ۱۱.۳۵۹: $16y^2 + 9z^2 = 4x^2$

۱۸۶۵۹ سوال ۱۱.۳۶۰: $z = x^2 - y^2 - 1$

۱۸۶۶۰ سوال ۱۱.۳۶۱: $9x^2 + 4y^2 + z^2 = 36$

۱۸۶۶۱ سوال ۱۱.۳۶۲: $4x^2 + 9z^2 = y^2$

۱۸۶۶۲ سوال ۱۱.۳۶۳: $x^2 + y^2 - 16z^2 = 16$

۱۸۶۶۳ سوال ۱۱.۳۶۴: $z^2 + 4y^2 = 9$

۱۸۶۶۴ سوال ۱۱.۳۶۵: $z = -(x^2 + y^2)$

۱۸۶۶۵ سوال ۱۱.۳۶۶: $y^2 - x^2 - z^2 = 1$

۱۸۶۶۶ سوال ۱۱.۳۶۷: $x^2 - 4y^2 = 1$

۱۸۶۶۷ سوال ۱۱.۳۶۸: $z = 4x^2 + y^2 - 4$

۱۸۶۶۸ سوال ۱۱.۳۶۹: $4y^2 + z^2 - 4x^2 = 4$

۱۸۶۶۹ سوال ۱۱.۳۷۰: $z = 1 - x^2$

۱۸۶۷۰ سوال ۱۱.۳۷۱: $x^2 + y^2 = z$

۱۸۶۷۱ سوال ۱۱.۳۷۲: $\frac{x^2}{4} + y^2 - z^2 = 1$

۱۸۶۷۲ سوال ۱۱.۳۷۳: $yz = 1$

۱۸۶۷۳ سوال ۱۱.۳۷۴: $36x^2 + 9y^2 + 4z^2 = 36$

۱۸۶۷۴ سوال ۱۱.۳۷۵: $9x^2 + 16y^2 = 4z^2$

سوال ۱۱.۳۷۶: $4z^2 - x^2 - y^2 = 4$

نظریہ اور مثالیں

سوال ۱۱.۳۷۷: (ا) سطح $z = c$ ترخیمی سطح

$$x^2 + \frac{y^2}{4} + \frac{z^2}{9} = 1$$

سے رقبہ S کاٹتا ہے۔ اس رقبہ کو متغیر c کا تفاعل لکھیں۔ (ایک ترخیم جس کے نصف محور a اور b ہوں کا رقبہ πab ہوتا ہے۔) (ب) محور z کے عمودی ٹکیاں لیتے ہوئے جزو-ا میں ترخیمی سطح کا حجم تلاش کریں۔ (ج) اب ترخیمی سطح

$$\frac{x^2}{a^2} + \frac{y^2}{b^2} + \frac{z^2}{c^2} = 1$$

کا حجم تلاش کریں۔ کیا آپ کا کلیہ $a = b = c$ کی صورت میں کرہ کا حجم دیتا ہے۔

سوال ۱۱.۳۷۸: محور z کے عمودی سطحیں ترخیمی سطح کے دونوں سروں سے برابر حصے کاٹ کر دکھائی گئی ڈرمی پیدا کرتی ہیں۔ محور کے قائمہ عمودی تراش دائری ہیں۔ ڈرمی کا قد $2h$، وسطی رداس R اور سروں کے رداس r ہیں۔ ڈرمی کے حجم کا کلیہ تلاش کریں۔ اب دو باتوں کی تصدیق کریں۔ کیا ڈرمی کے اطراف سیدھا کرنے سے آپ کا کلیہ، قد $2h$ اور رداس R کے نلکی کا حجم دیتا ہے؟ کیا $r = 0$ اور $h = R$ کی صورت میں، جب ڈرمی کی شکل ایک کرہ مانند ہو گی، آپ کا کلیہ کرہ کا حجم دیتا ہے؟

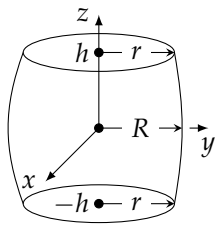

سوال ۱۱.۳۷۹: سطح $z = h$ قطع مکافی سطح

$$\frac{x^2}{a^2} + \frac{y^2}{b^2} = \frac{z}{c}$$

سے ایک حصہ کاٹتا ہے۔ دکھائیں کہ اس حصے کا حجم، حصہ کے قاعدہ کا نصف ضرب قد کے برابر ہو گا۔ (شکل ۱۱.۵۵ میں $h = c$ کے لئے یہ حصہ دکھایا گیا ہے۔)

سوال ۱۱.۳۸۰: (ا) سطح $z = 0$ اور سطح $z = h,\ h > 0$ اور قطع زائد

$$\frac{x^2}{a^2} + \frac{y^2}{b^2} - \frac{z^2}{c^2} = 1$$

کے بیچ ٹھوس جسم کا حجم تلاش کریں۔(ب) حاصل حجم کو h ، S_0 اور S_h کی صورت میں لکھیں۔ قطع زائد سے سطح $z = 0$ اور $z = h$ جن حصوں کو کاٹتے ہیں، ان کے رقبے S_0 اور S_h ہیں۔(ج) دکھائیں کہ اس حجم کو

$$H = \frac{h}{6}(S_0 + 4S_m + S_h)$$

بھی لکھا جا سکتا ہے جہاں قطع زائد سے سطح $z = \frac{h}{2}$ جو حصہ کاٹتا ہے، اس کا رقبہ S_m ہے۔

سوال ۱۱.۳۸۱: سطح $y = y_1$ اور سطح $\frac{y^2}{b^2} - \frac{x^2}{a^2} = \frac{z}{c}$ کا خط تقاطع، قطع مکافی ہو گا۔ اس قطع مکافی کا راس اور ماسکہ تلاش کریں۔

سوال ۱۱.۳۸۲: آپ درج ذیل مساوات میں $z = 0$ لے کر مستوی xy میں منحنی حاصل کرتے ہیں۔

$$Ax^2 + By^2 + Cz^2 + Dxy + Eyz + Fxz + Gx + Hy + Jz + K = 0$$

یہ منحنی کیسی ہو گی؟ اپنے جواب کی وجہ پیش کریں۔

سوال ۱۱.۳۸۳: اب تک ہم دیکھتے آ رہے ہیں کہ کسی بھی محددی سطح کے متوازی سطح اور مربع سطح کا خط تقاطع، ترخیمی ہوتا ہے۔ کیا یہ محض اتفاق تھا؟ اپنے جواب کی وجہ پیش کریں۔

سوال ۱۱.۳۸۴: ایک سطح جو کسی بھی محددی سطح کا متوازی نہیں ہے، مربع سطح کو قطع کرتا ہے۔ ان کا خط تقاطع کیسا ہو گا؟ اپنے جواب کی وجہ پیش کریں۔

کمپیوٹر کا استعمال

سوال ۱۱.۳۸۵ تا سوال ۱۱.۳۸۸ میں دی گئی وقفہ پر سطحوں کو ترسیم کریں۔ اگر ممکن ہو، سطحوں کے مختلف تظلیل پیش کریں۔

سوال ۱۱.۳۸۵: $z = y^2, \quad -2 \le x \le 2, \quad -0.5 \le y \le 2$

سوال ۱۱.۳۸۶: $z = 1 - y^2, \quad -2 \le x \le 2, \quad -2 \le y \le 2$

سوال ۱۱.۳۸۷: $z = x^2 + y^2, \quad -3 \le x \le 3, \quad -3 \le y \le 3$

سوال ۱۱.۳۸۸: $z = x^2 + 2y^2$ کو درج ذیل وقفوں پر ترسیم کریں۔

ا. $-3 \le x \le 3, \quad -3 \le y \le 3$

ب. $-1 \le x \le 1, \quad -2 \le y \le 3$

ج. $-2 \le x \le 2, \quad -2 \le y \le 2$

د. $-2 \le x \le 2, \quad -1 \le y \le 1$

سوال ۱۱.۳۸۹ تا سوال ۱۱.۳۹۴ کو ترسیم کریں۔ سطح کی صورت سے اس کی قسم دریافت کریں۔

سوال ۱۱.۳۸۹: $\frac{x^2}{9} + \frac{y^2}{36} = 1 - \frac{z^2}{25}$

سوال ۱۱.۳۹۰: $\frac{x^2}{9} - \frac{z^2}{9} = 1 - \frac{y^2}{16}$

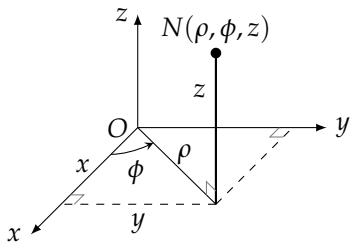

شکل ۱۱.۶۱: فضا میں نقطہ کے نلکی محدد ρ ، ϕ اور z ہوں گے۔

سوال ۱۱.۳۹۱: $5x^2 = z^2 - 3y^2$

سوال ۱۱.۳۹۲: $\frac{y^2}{16} = 1 - \frac{x^2}{9} + z$

سوال ۱۱.۳۹۳: $\frac{x^2}{9} - 1 = \frac{y^2}{16} + \frac{z^2}{2}$

سوال ۱۱.۳۹۴: $y - \sqrt{4 - z^2} = 0$

۱۱.۷ نلکی اور کروی محدد

اس حصہ میں فضا کے دو نئے محددی نظام متعارف کرائے جائیں گے جو نلکی محدد اور کروی محدد کہلاتے ہیں۔ نلکی محدد میں نلکی کی مساوات سادہ صورت اختیار کرتی ہے۔ کروی محدد میں کرہ اور ترخیم کی مساوات سادہ صورت اختیار کرتی ہیں۔ ہم نلکی محدد میں سیاروں کی مدار پر حصہ ۱۲.۵ میں غور کریں گے۔

نلکی محدد

ہم xy مستوی میں قطبی محدد کے ساتھ محور z شامل کر کے فضا کی نلکی محدد حاصل کرتے ہیں۔ ہم یہاں قطبی محدد کا رداس ρ اور زاویہ ϕ لکھیں گے [۳۱]۔ یوں فضا میں ہر نقطہ کو ایک یا ایک سے زیادہ تین اعداد کی جوڑی (ρ, ϕ, z) مختص کی جا سکتی ہے (شکل ۱۱.۶۱)۔

تعریف: **نلکی محدد**[۳۲] فضا میں نقطہ N کو تین مرتب اعداد (ρ, ϕ, z) سے ظاہر کرتا ہے جہاں

۱. ρ اور ϕ مستوی xy میں نقطہ N کے قائمہ تظلیل کے قطبی محدد ہیں،

۲. z اس نقطہ کا کارتیسی انتصابی محدد ہے۔

---

[۳۱] تاکہ ہم r اور θ کو کروی محدد کے لئے استعمال کر سکیں

[۳۲] cylindricalcoordinates

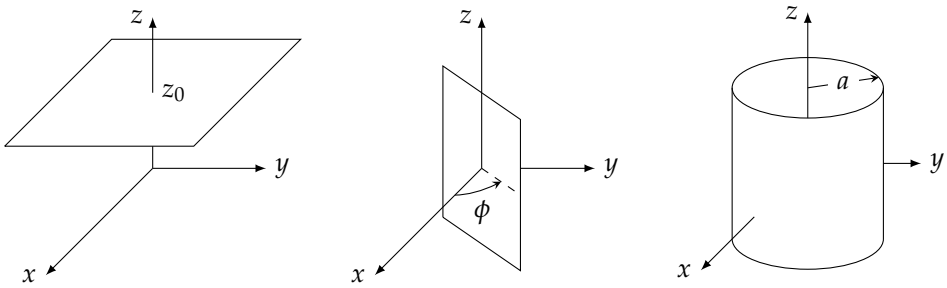

(ا) نلکی $\rho = a$ کی سطح میں ϕ اور z تبدیل ہوتے ہیں۔ (ب) مستوی $\phi = \phi_0$ میں ρ اور z تبدیل ہوتے ہیں۔ (ج) مستوی $z = z_0$ میں ρ اور ϕ تبدیل ہوتی ہیں۔

شکل ۱۱.۶۲: نلکی محدد میں مستقل محدد محددی مساواتیں نلکی اور سطح کو جنم دیتی ہیں۔

۱۸۷۲۹ □

۱۸۷۳۰ کارتیسی محدد x ، y ، z اور نلکی محدد ρ ، ϕ ، z کا تعلق درج ذیل ہے۔

$$\begin{aligned} x = \rho\cos\phi, \quad y = \rho\sin\phi, \quad z = z \\ \rho^2 = x^2 + y^2, \quad \tan\phi = \frac{y}{x} \end{aligned} \tag{ا}$$

۱۸۷۳۱ نلکی محدد میں مساوات $\rho = a$ نا صرف xy مستوی میں ایک دائرہ کو ظاہر کرتی ہے بلکہ یہ ایک z محور کے گرد ایک نلکی کو بھی ظاہر کرتی ہے (شکل
۱۸۷۳۲ ۱۱.۶۲-ا)۔ محور z کو $\rho = 0$ ظاہر کرتی ہے۔ مساوات $\phi = \phi_0$ اس سطح کو ظاہر کرتی ہے جس میں محور z پایا جاتا ہے اور جو مثبت محور x کے
۱۸۷۳۳ ساتھ زاویہ ϕ_0 بناتا ہے۔ کارتیسی محدد کی طرح اب بھی مساوات $z = z_0$ ایک سطح کو ظاہر کرتی ہے جو محور z کے ساتھ قائمہ ہے۔

۱۸۷۳۴ مثال ۱۱.۵۵: کون سے نقاط درج ذیل مساوات کو مطمئن کرتے ہیں۔

$$\rho = 2, \quad \phi = \frac{\pi}{4}$$

۱۸۷۳۵ حل: یہ نقطے اس لکیر کو ظاہر کرتے ہیں جہاں نلکی $\rho = 2$ سطح $\phi = \frac{\pi}{4}$ کو قطع کرتی ہے اور جہاں ρ مثبت ہے (شکل ۱۱.۶۳)۔ یہ لکیر نقطہ
۱۸۷۳۶ $(2, \frac{\pi}{4}, 0)$ سے گزرتی ہے اور محور z کے متوازی ہے۔ □

۱۸۷۳۷ مثال ۱۱.۵۶: سطح $\rho = 1 + \cos\phi$ ترسیم کریں۔

۱۸۷۳۸ حل: اس مساوات میں صرف ρ اور ϕ متغیرات پائے جاتے ہیں جبکہ z متغیر اس میں نہیں پایا جاتا ہے۔ یوں یہ مساوات ایک ایسی نلکی سطح کو ظاہر کرتی
۱۸۷۳۹ ہے جو، مستوی $\rho\phi$ میں قلب نما منحنی، $\rho = 1 + \cos\phi$ سے گزرتی ہے اور محور z کے متوازی ہے۔ ہم کارتیسی x ، y ، z محور کھینچ کر ان
۱۸۷۴۰ کے قائمہ چند عمودی تراش ترسیم کرتے ہیں۔ ان عمودی تراش کو متوازی لکیروں سے ملا کر سطح حاصل ہو گی (شکل ۱۱.۶۴)۔ □

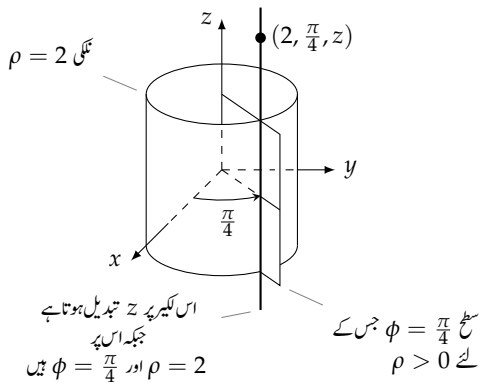

شکل ۱۱.۶۳: وہ نقطے جن کے پہلے دو نلکی محدد $\rho = 2$ اور $\phi = \frac{\pi}{4}$ ہوں ایک لکیر کو ظاہر کرتے ہیں جو z محدد کے متوازی ہے۔

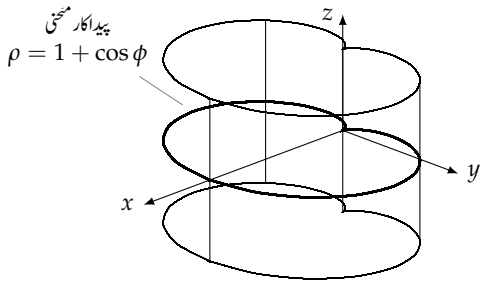

شکل ۱۱.۶۴: قلب نما مساوات $\rho = 1 + \cos\phi$ فضا میں نلکی کو ظاہر کرتی ہے جس کا عمودی تراش محور z کو قائمہ ہے (مثال ۱۱.۵۶)۔

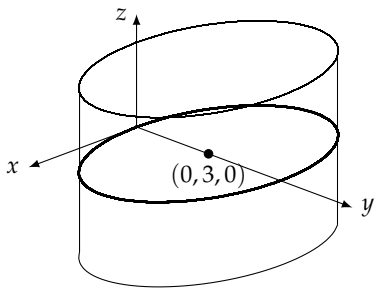

شکل ۱۱.۶۵: نلکی نما برائے مثال ۱۱.۵۹

۱۸۷۴۱ مثال ۱۱.۵۷: سطح $z = \rho^2$ کی کارتیسی مساوات تلاش کر کے سطح کو پہچانئے۔

۱۸۷۴۲ حل: مساوات ۱ سے $z = \rho^2 = x^2 + y^2$ حاصل ہوتا ہے جو دائری قطع مکافی $z = x^2 + y^2$ کی مساوات ہے۔ □

۱۸۷۴۳ مثال ۱۱.۵۸: دائری نلکی $4x^2 + 4y^2 = 9$ کی مساوات نلکی محدد میں دریافت کریں۔

۱۸۷۴۴ حل: یہ نلکی ان نقطوں پر مشتمل ہے جن کا محور z سے فاصلہ $\sqrt{x^2 + y^2} = \frac{3}{2}$ ہے لہٰذا نلکی محدد میں اس سطح کی مساوات $\rho = \frac{3}{2}$ ہو
۱۸۷۴۵ گی۔ آئیں اس کو باضابطہ حاصل کریں۔

$$
\begin{aligned}
4x^2 + 4y^2 &= 9 \\
4(\rho\cos\phi)^2 + 4(\rho\sin\phi)^2 &= 9 && \text{مساوات ۱} \\
4\rho^2\cos^2\phi + 4\rho^2\sin^2\phi &= 9 \\
4\rho^2 &= 9 && \cos^2\phi + \sin^2\phi = 1 \\
\rho^2 &= \frac{9}{4} \\
\rho &= \frac{3}{2}
\end{aligned}
$$

۱۸۷۴۶ □

۱۸۷۴۷ مثال ۱۱.۵۹: نلکی $x^2 + (y-3)^2 = 9$ کی مساوات نلکی محدد میں معلوم کریں (شکل ۱۱.۶۵)۔

۱۸۷۴۸ حل: مساوات ۱ استعمال کرتے ہوئے نلکی محدد میں مساوات حاصل کرتے ہیں۔

$$
\begin{aligned}
x^2 + (y-3)^2 &= 9 \\
(\rho\cos\phi)^2 + (\rho\sin\phi - 3)^2 &= 9 && \text{مساوات ۱} \\
\rho^2\cos^2\phi + \rho^2\sin^2\phi + 9 - 6\rho\sin\phi &= 9 \\
\rho^2 &= 6\rho\sin\phi \\
\rho &= 6\sin\phi && \text{درکار مساوات}
\end{aligned}
$$

۱۸۷۴۹ □

۱۸۷۵۰ **کروی محدد**

۱۸۷۵۱ کروی محدد میں نقطہ N کو زاویوں اور لمبائی سے تعین کیا جاتا ہے (شکل ۱۱.۶۶)۔ نقطہ N کا پہلا محدد $r = \left|\overrightarrow{ON}\right|$ ہے جو مبدا O سے N
۱۸۷۵۲ تک فاصلہ دیتا ہے۔ نلکی محدد کے ρ کے برعکس r ہر صورت غیر منفی ہو گا۔ دوسرا محدد θ ہے جو $\overrightarrow{ON}$ کا مثبت محور z کے ساتھ زاویہ ہے جو وقفہ
۱۸۷۵۳ $[0, \pi]$ پر رہنے کا پابند ہے۔ تیسرا محدد ϕ ہے جو عین نلکی محدد ϕ ہے۔

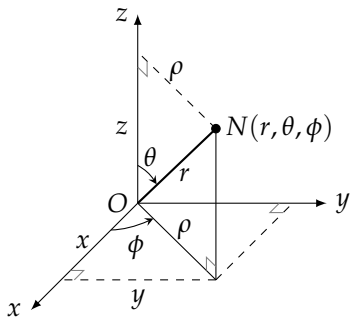

شکل ۱۱.۶۶: کروی محدد r ، ϕ ، θ اور کارتیسی محدد x ، y ، z کا تعلق۔

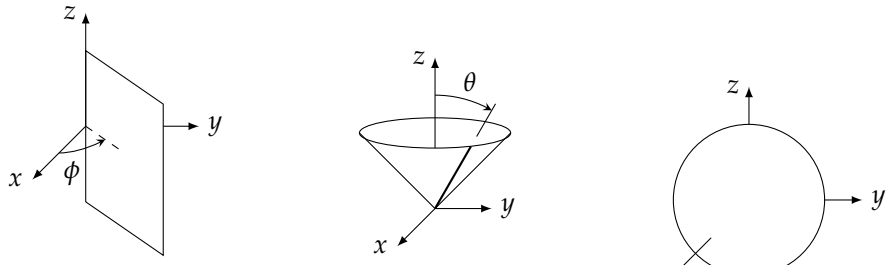

(ا) مستقل رداس کرہ دیتا ہے۔ (ب) مثبت محور z کے ساتھ مستقل زاویہ ترخیم دیتا ہے۔ (ج) مثبت محور x کے ساتھ مستقل زاویہ انتصابی سطح دیتا ہے۔

شکل ۱۱.۶۷: مستقل کروی محدد سے حاصل سطحیں۔

۱۸۷۵۴ تعریف: **کروی محدد**[۳۳] فضا میں نقطہ N کو تین مرتب اعداد (r, θ, ϕ) سے ظاہر کرتا ہے جہاں

۱۸۷۵۵ ۱. مبدا سے N تک فاصلہ r ہے،

۱۸۷۵۶ ۲. مثبت محور z کے ساتھ $\overrightarrow{ON}$ کا زاویہ θ ہے ($0 \leq \theta \leq \pi$)،

۱۸۷۵۷ ۳. ϕ نلکی محدد کا زاویہ ہے۔

۱۸۷۵۸ □

۱۸۷۵۹ رداس a کے کرہ کی کروی محدد میں مساوات $r = a$ ہو گی جہاں کرہ کا مرکز مبدا پر ہے (شکل ۱۱.۶۷-ا)۔ مساوات $\theta = \theta_0$ ایک ترخیم کو ظاہر کرتی
۱۸۷۶۰ ہے جس کا راس مبدا پر ہے اور جس کا محور z محور پر ہے۔ (ہم ترخیم کے تصور کو وسعت دیتے ہوئے مستوی xy کو ترخیم $\theta = \frac{\pi}{2}$ تصور کرتے ہیں۔)

---

[۳۳] sphericalcoordinates

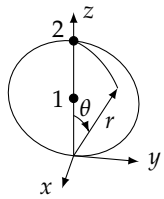

شکل ۱۱.۶۸: کرہ برائے مثال ۱۱.۶۰

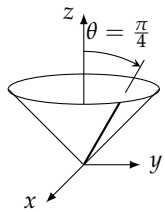

شکل ۱۱.۶۹: ترخیم برائے مثال ۱۱.۶۱

۱۸۷۶۱ اگر θ کی قیمت $\frac{\pi}{2}$ سے زیادہ ہو تب ترخیم نیچے رخ کھلتا ہے۔ کروی محدد میں بالکل نلکی محدد کی طرح $\phi = \phi_0$ اس سطح کو ظاہر کرتی ہے جس میں محور
۱۸۷۶۲ z شامل ہو اور جو مثبت x محور کے ساتھ زاویہ ϕ_0 بناتا ہو۔

۱۸۷۶۳ کروی محدد کے کارتیسی اور نلکی محدد کے ساتھ تعلقات درج ذیل ہیں۔

$$\begin{aligned} \rho &= r\sin\theta, \quad x = \rho\cos\phi = r\sin\theta\cos\phi, \\ z &= r\cos\theta, \quad y = \rho\sin\phi = r\sin\theta\sin\phi, \\ r &= \sqrt{x^2+y^2+z^2} = \sqrt{\rho^2+z^2} \end{aligned} \tag{۲}$$

۱۸۷۶۴ مثال ۱۱.۶۰: درج ذیل کرہ کی کروی مساوات تلاش کریں (شکل ۱۱.۶۸)۔

$$x^2+y^2+(z-1)^2 = 1$$

۱۸۷۶۵ حل: ہم مساوات ۲ استعمال کرتے ہوئے x ، y اور z کی کروی قیمتیں پر کرتے ہیں۔

$$\begin{aligned} x^2+y^2+(z-1)^2 &= 1 \\ r^2\sin^2\theta\cos^2\phi + r^2\sin^2\theta\sin^2\phi + (r\cos\theta-1)^2 &= 1 \qquad \text{مساوات ۲} \\ r^2\sin^2\theta\underbrace{(\cos^2\phi+\sin^2\phi)}_{1} + r^2\cos^2\theta - 2r\cos\theta + 1 &= 1 \\ r^2\underbrace{(\sin^2\theta+\cos^2\theta)}_{1} &= 2r\cos\theta \\ r^2 &= 2r\cos\theta \\ r &= 2\cos\theta \end{aligned}$$

۱۸۷۶۶ □

۱۸۷۶۷ مثال ۱۱.۶۱: ترخیم $z = \sqrt{x^2+y^2}$ کی کروی مساوات تلاش کریں (شکل ۱۱.۶۹)۔

حل: پہلا حل جیومیٹری استعمال کرتے ہوئے حاصل کرتے ہیں۔ ترخیم محور z کے لحاظ سے تشاکلی ہے اور مستوی yz کے ربع اول کو خط $z = y$ میں قطع کرتا ہے۔ یوں مثبت z محور اور ترخیم کے بیچ زاویہ $\frac{\pi}{4}$ ہو گا۔ ترخیم ان نقطوں پر مبنی ہے جن کے کروی محدد θ کی قیمت $\frac{\pi}{4}$ ہے لہٰذا اس کی مساوات $\theta = \frac{\pi}{4}$ ہو گی۔

دوسرا حل الجبرا استعمال کرتے ہوئے حاصل کرتے ہیں۔ ہم مساوات ۱۲ استعمال کر کے یہی نتیجہ دوبارہ حاصل کرتے ہیں۔

$$
\begin{aligned}
z &= \sqrt{x^2+y^2} && \\
r\cos\theta &= \sqrt{r^2\sin^2\theta} && \text{مثال ۱۱.۶۰} \\
r\cos\theta &= r\sin\theta && r \geq 0, \sin\theta \geq 0 \\
\cos\theta &= \sin\theta && \\
\theta &= \frac{\pi}{4} && 0 \leq \theta \leq \pi
\end{aligned}
$$

□

سوالات

نقطوں کے محدد کا تبادلہ

فضا میں نقطہ کے محدد، سوال ۱۱.۳۹۵ تا سوال ۱۱.۴۰۴ میں کسی ایک محددی نظام میں دیے گئے ہیں۔ اس نقطہ کے محدد باقی دو محددی نظاموں میں تلاش کریں۔ بعض اوقات ایک سے زیادہ جوابات ممکن ہوں گے۔

سوال ۱۱.۳۹۵: کارتیسی نظام $(x,y,z) = (0,0,0)$

سوال ۱۱.۳۹۶: کارتیسی نظام $(x,y,z) = (1,0,0)$

سوال ۱۱.۳۹۷: کارتیسی نظام $(x,y,z) = (0,1,0)$

سوال ۱۱.۳۹۸: کارتیسی نظام $(x,y,z) = (0,0,1)$

سوال ۱۱.۳۹۹: نلکی نظام $(\rho,\phi,z) = (1,0,0)$

سوال ۱۱.۴۰۰: نلکی نظام $(\rho,\phi,z) = (\sqrt{2},0,1)$

سوال ۱۱.۴۰۱: نلکی نظام $(\rho,\phi,z) = (1,\frac{\pi}{2},1)$

سوال ۱۱.۴۰۲: کروی نظام $(r,\theta,\phi) = (\sqrt{3},\frac{\pi}{3},-\frac{\pi}{2})$

سوال ۱۱.۴۰۳: کروی نظام $(r,\theta,\phi) = (2\sqrt{2},\frac{\pi}{2},\frac{3}{2}\pi)$

سوال ۱۱.۴۰۴: کروی نظام $(r,\theta,\phi) = (\sqrt{2},\pi,\frac{\pi}{2})$

مساوات اور عدم مساوات کا ایک محددی نظام سے دوسرے محددی نظام میں تبادلہ؛ شکل کی پہچان

سوال ۱۱.۴۰۵ تا سوال ۱۱.۴۳۰ میں کسی ایک محددی نظام (کارتیسی، نلکی، کروی) میں دی گئی مساوات اور عدم مساوات کو باقی دو محددی نظام میں لکھیں۔ ان اشکال کو پہچانئے۔

سوال ۱۱.۴۰۵: $\rho = 0$

سوال ۱۱.۴۰۶: $x^2 + y^2 = 5$

سوال ۱۱.۴۰۷: $z = 0$

سوال ۱۱.۴۰۸: $z = -2$

سوال ۱۱.۴۰۹: $z = \sqrt{x^2 + y^2}, \quad z \leq 1$

سوال ۱۱.۴۱۰: $z = \sqrt{x^2 + y^2}, \quad 1 \leq z \leq 2$

سوال ۱۱.۴۱۱: $r \sin\theta \cos\phi = 0$

سوال ۱۱.۴۱۲: $\tan^2\theta = 1$

سوال ۱۱.۴۱۳: $x^2 + y^2 + z^2 = 4$

سوال ۱۱.۴۱۴: $x^2 + y^2 + (z - \frac{1}{2})^2 = \frac{1}{4}$

سوال ۱۱.۴۱۵: $r = 5\cos\theta$

سوال ۱۱.۴۱۶: $r = -6\cos\theta$

سوال ۱۱.۴۱۷: $\rho = \csc\phi$

سوال ۱۱.۴۱۸: $\rho = -3\sec\phi$

سوال ۱۱.۴۱۹: $r = \sqrt{2}\sec\theta$

سوال ۱۱.۴۲۰: $r = 9\csc\theta$

سوال ۱۱.۴۲۱: $x^2 + y^2 + (z-1)^2 = 1, \quad z \leq 1$

سوال ۱۱.۴۲۲: $\rho^2 + z^2 = 4, \quad z \leq -\sqrt{2}$

سوال ۱۱.۴۲۳: $r = 3, \quad \frac{\pi}{3} \leq \theta \leq \frac{2\pi}{3}$

سوال ۱۱.۴۲۴: $x^2 + y^2 + z^2 = 3, \quad 0 \leq z \leq \frac{\sqrt{3}}{2}$

سوال ۱۱.۴۲۵: $z = 4 - 4\rho^2, \quad 0 \leq r \leq 1$

سوال ۱۱.۴۲۶: $z = 4 - \rho, \quad 0 \leq \rho \leq 4$

سوال ۱۱.۴۲۷: $\theta = \frac{3\pi}{4}, \quad 0 \leq r \leq \sqrt{2}$

۱۸۸۱۴ سوال ۱۱.۴۲۸: $\theta = \frac{\pi}{2}, \quad 0 \leq r \leq \sqrt{7}$

۱۸۸۱۵ سوال ۱۱.۴۲۹: $z + \rho^2 \cos 2\phi = 0$

۱۸۸۱۶ سوال ۱۱.۴۳۰: $z^2 - \rho^2 = 1$

۱۸۸۱۷ سوال ۱۱.۴۳۱: درج ذیل کرہ کے مرکز کے کارتیسی محدد تلاش کریں۔

$$\rho^2 + z^2 = 4\rho \cos \phi + 6\rho \sin \phi + 2z$$

۱۸۸۱۸ سوال ۱۱.۴۳۲: درج ذیل کرہ کے مرکز کے کارتیسی محدد تلاش کریں۔

$$r = 2 \sin \theta (\cos \phi - 2 \sin \phi)$$

۱۸۸۱۹

۱۸۸۲۰ **معین نقطوں کے سلسلہ کی مساوات**

۱۸۸۲۱ سوال ۱۱.۴۳۳ تا سوال ۱۱.۴۳۶ میں نقطوں کے سلسلہ کے نلکی محدد دی گئی مساوات کو مطمئن کرتے ہیں۔ ان نقطوں کے سلسلہ کو ترسیم کریں۔

۱۸۸۲۲ سوال ۱۱.۴۳۳: $\rho = -2 \sin \phi$

۱۸۸۲۳ سوال ۱۱.۴۳۴: $\rho = 2 \cos \phi$

۱۸۸۲۴ سوال ۱۱.۴۳۵: $\rho = 1 - \cos \phi$

۱۸۸۲۵ سوال ۱۱.۴۳۶: $\rho = 1 + \sin \phi$

۱۸۸۲۶

۱۸۸۲۷ سوال ۱۱.۴۳۷ اور سوال ۱۱.۴۳۸ میں نقطوں کے سلسلہ کے کروی محدد دی گئی مساوات کو مطمئن کرتے ہیں۔ ان سلسلہ کو ترسیم کریں۔

۱۸۸۲۸ سوال ۱۱.۴۳۷: $r = 1 - \cos \theta$

۱۸۸۲۹ سوال ۱۱.۴۳۸: $r = 1 + \cos \theta$

۱۸۸۳۰

۱۸۸۳۱ **نظریہ اور مثالیں**

۱۸۸۳۲ سوال ۱۱.۴۳۹: نلکی اور کروی محدد میں افقی سطحیں

۱۸۸۳۳ (ا) دکھائیں کہ کارتیسی اور نلکی محدد میں مستوی $z = c \ (c \neq 0)$ کی کروی محدد میں مساوات $r = c \sec \theta$ ہو گی۔ (ب) مستوی xy کی

۱۸۸۳۴ کروی محدد میں مساوات تلاش کریں۔

۱۸۸۳۵ سوال ۱۱.۴۴۰: کروی محدد میں انتصابی دائری بیلن

۱۸۸۳۶ بیلن $x^2 + y^2 = a^2$ کی مساوات کروی محدد میں دریافت کریں۔ یہ مساوات $r = f(\theta)$ طرز کی ہو گی۔

۱۸۸۳۷ سوال ۱۱.۴۴۱: نلکی محدد میں انتصابی سطح

۱۸۸۳۸ (ا) دکھائیں کہ محور x کو قائمہ سطحوں کی نلکی محدد میں مساوات کی صورت $\rho = a \sec \phi$ ہو گی۔ (ب) دکھائیں کہ محور y کو قائمہ سطحوں کی نلکی

۱۸۸۳۹ محدد میں مساوات کی صورت $\rho = b \csc \phi$ ہو گی۔

سوال ۱۱.۴۴۲: (گزشتہ سوال جاری)
سطح $ax + by = c,\ c \neq 0$ کی نلکی محدد میں مساوات تلاش کریں۔ یہ مساوات $\rho = f(\phi)$ طرز کی ہو گی۔

سوال ۱۱.۴۴۳: تشاکلی
نلکی محدد میں مساوات $\rho = f(z)$ ایک سطح کو ظاہر کرتی ہے۔ اس سطح میں کونسی تشاکلی پائی جائے گی؟ اپنے جواب کی وجہ پیش کریں۔

سوال ۱۱.۴۴۴: تشاکلی
کروی محدد میں مساوات $r = f(\theta)$ جس سطح کو ظاہر کرتی ہے اس کی تشاکلی کیا ہو گی؟ اپنے جواب کی وجہ پیش کریں۔

کمپیوٹر کا استعمال

سوال ۱۱.۴۴۵ اور سوال ۱۱.۴۴۶ میں کمپیوٹر کی مدد سے درج ذیل اقدام کریں۔

ا. دی گئی مساوات کو ρ (نلکی محدد) یا r (کروی محدد) کے لئے حل کریں۔ مثبت جذر کا فقرہ منتخب کرتے ہوئے اس کی سادہ صورت دریافت کریں۔

ب. ρ بالمقابل ϕ اور z یا r بالمقابل θ اور ϕ ترسیم کریں (جیسا مناسب ہو)۔ ترسیم کے لئے دیا گیا وقفہ استعمال کریں۔

ج. جزو-ب کی ترسیم سے کرہ کے مرکز اور رداس کی قیمت کا اندازہ قریبی عدد صحیح تک لگائیں۔

د. دی گئی مساوات کو نلکی یا کروی محدد سے کارتیسی محدد میں تبدیل کریں۔ اس مساوات کی سادہ صورت حاصل کریں۔ مساوات کی سادہ صورت حاصل کرتے ہوئے آپ کو قلم و کاغذ کی ضرورت پیش آسکتی ہے۔ کرہ کی اس مساوات کی صورت $(x - x_0)^2 + (y - y_0)^2 + (z - z_0)^2 = a^2$ ہو گی۔ جزو-ج میں حاصل قیمت کے ساتھ c کا موازنہ کریں۔

ھ. کرہ کی مخفی مساوات جزو-د میں حاصل کی گئی۔ اس کو ترسیم کریں۔ اس ترسیم کا جزو-ب کی ترسیم کے ساتھ موازنہ کریں۔

سوال ۱۱.۴۴۵: $\rho^2 + z^2 = 2\rho(\cos\phi + \sin\phi) + 2, \quad \frac{\pi}{4} \leq \phi \leq \frac{9\pi}{4},\ -2 \leq z \leq 2$

سوال ۱۱.۴۴۶: $r^2 = 2r(\cos\phi\sin\theta - \cos\theta) + 2, \quad 0 \leq \phi \leq 2\pi,\ 0 \leq \theta \leq \pi$

باب ۱۲

سمتی قیمت تفاعل اور فضا میں حرکت

سرسری جائزہ جب کوئی جسم فضا میں حرکت کرتا ہو، مساوات $x = f(t)$ ، $y = g(t)$ اور $z = h(t)$ جو اس جسم کے محدد کو بطور وقت کا تفاعل دیتی ہیں، اس جسم کی راہ اور حرکت کی مقدار معلوم مساوات ہوں گی۔ سمتیہ علامتیت کی مدد سے ہم انہیں ایک مساوات $\boldsymbol{r}(t) = f(t)\boldsymbol{i} + g(t)\boldsymbol{j} + h(t)\boldsymbol{k}$ کی صورت میں لکھ سکتے ہیں جو اس جسم کا مقام بطور وقت کا سمتی تفاعل دیتی ہے۔

اس باب میں ہم احصاء استعمال کرتے ہوئے حرکت پذیر اجسام کی راہ، سمتی رفتار اور اسراع پر غور کریں گے۔ ہم گولا، سیارہ اور مصنوعی سیارہ کی راہ اور حرکت کے عمومی سوالات کے جوابات جان سکے گے۔ آخر حصہ میں ہم نیوٹن کے قوانین اور تجاذب کی مدد سے سیاروں کی مدار کے قوانین کپلر دریافت کریں گے۔

۱۲.۱ سمتی قیمت تفاعل اور فضائی منحنیات

فضا میں متحرک ذرہ کی حرکت جاننے کی خاطر ہم مبدا سے اس ذرہ تک سمتیہ $\boldsymbol{r}$ لے کر $\boldsymbol{r}$ میں تبدیلی پر غور کرتے ہیں (شکل ۱۲.۱)۔ اگر اس ذرہ کے محدد مقام وقت کے ساتھ دو بار قابل تفرق ہوں، تب $\boldsymbol{r}$ بھی ایسا ہو گا، اور ہم کسی بھی لمحہ پر وقت کے لحاظ سے $\boldsymbol{r}$ کے تفرق لے کر اس ذرہ کی سمتی رفتار اور اسراع جان سکتے ہیں۔ اگر ہمیں اس ذرہ کی سمتیہ سمتی رفتار یا سمتیہ اسراع بطور وقت کے استمراری تفاعل معلوم ہو اور ہمیں ذرے کی ابتدائی مقام اور سمتیہ رفتار کے بارے میں معقول معلومات ہو، تب ہم تکمل کی مدد سے، وقت کا تفاعل $\boldsymbol{r}$ جان سکتے ہیں۔

تعریف

جب وقفہ I کے دوران ایک ذرہ فضا میں حرکت کرتا ہو، ہم اس ذرہ کے محدد جو وقت کے تفاعل ہو گے کی تعریف درج ذیل کرتے ہیں۔

$$x = f(t), \quad y = g(t), \quad z = h(t), \quad t \in I \tag{1}$$

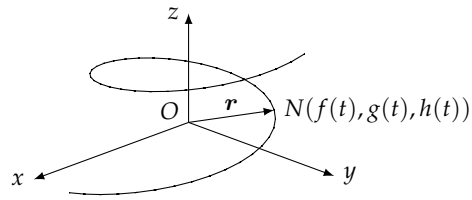

شکل ۱.۱۲: فضا میں متحرک ذرہ کا تعین گر سمتیہ $\boldsymbol{r} = \overrightarrow{ON}$ متغیر t کا تفاعل ہو گا۔

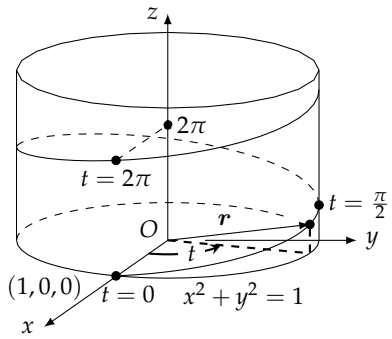

شکل ۲.۱۲: پیچدار منحنی $\boldsymbol{r}(t) = (\cos t)\boldsymbol{i} + (\sin t)\boldsymbol{j}$ کا بالائی نصف حصہ

۱۸۸۷۳ نقاط $(x, y, z) = (f(t), g(t), h(t)),\ t \in I$ فضا میں وہ **منحنی** دیتے ہیں جنہیں ہم اس ذرے کی **راہ**[1] کہتے ہیں۔ مساوات ۱ اس منحنی کی
۱۸۸۷۴ **مقدار معلوم روپ** ہے۔ مبدا سے ذرے کے **مقام** $N(f(t), g(t), h(t))$ تک لمحہ t پر سمتیہ

$$\boldsymbol{r}(t) = \overrightarrow{ON} = f(t)\boldsymbol{i} + g(t)\boldsymbol{j} + h(t)\boldsymbol{k}$$

۱۸۸۷۵ اس ذرے کا **تعین گر سمتیہ**[2] ہے۔ تفاعل f ، g اور h تعین گر سمتیہ کے **اجزاء** ہیں۔ ذرے کی راہ سے مراد وقفہ t کے دوران $\boldsymbol{r}$ کی پیدا کردہ منحنی
۱۸۸۷۶ ہے۔

۱۸۸۷۷ مساوات ۱ سمتیہ $\boldsymbol{r}$ کی تعریف وقفہ I پر حقیقی متغیر t کی صورت میں دیتی ہے۔ زیادہ عمومی طور پر دائرہ کار، سلسلہ D ، پر **سمتی تفاعل**[3] یا **سمتی قیمت**
۱۸۸۷۸ **تفاعل**[4] سے مراد وہ قاعدہ ہو گا جو D کے ہر رکن کو فضا میں ایک سمتیہ مختص کرتا ہو۔ موجودہ استعمال میں دائرہ کار حقیقی اعداد کے وقفوں پر مشتمل ہوں گے۔
۱۸۸۷۹ باب ۱۵ میں دائرہ کار، مستوی یا فضا میں خطوں پر مشتمل ہوں گے جہاں ہم سمتی تفاعل کو سمتی میدان کہیں گے۔

۱۸۸۸۰ ہم حقیقی قیمت تفاعل کو **غیر سمتی تفاعل**[5] کہتے ہیں تاکہ ان میں اور سمتی تفاعل میں فرق کرنا ممکن ہو۔ سمتیہ $\boldsymbol{r}$ کے اجزاء t کے غیر سمتی تفاعل ہیں۔ سمتی
۱۸۸۸۱ تفاعل کی تعریف اس کے ارکان تفاعل کی صورت میں دیتے وقت ہم فرض کرتے ہیں کہ سمتی تفاعل کا دائرہ کار ہی ارکان کے دائرہ کار ہیں۔

۱۸۸۸۲ مثال ۱.۱۲: پیچ دار تفاعل
۱۸۸۸۳ تمام حقیقی متغیر t کے لئے سمتی تفاعل

$$\boldsymbol{r}(t) = (\cos t)\boldsymbol{i} + (\sin t)\boldsymbol{j} + t\boldsymbol{k}$$

---

[1] path
[2] positionvector
[3] vectorfunction
[4] vector-valuedfunction
[5] scalarfunctions

۱۸۸۸۴ معین ہے اور $\boldsymbol{r}$ دائری نلکی $x^2 + y^2 = 1$ کے گرد لپٹ کر چلتا ہے (شکل ۱۲.۲)۔ سمتی تفاعل $\boldsymbol{r}$ کے $\boldsymbol{i}$ اور $\boldsymbol{j}$ اجزاء جو $\boldsymbol{r}$ کے سر کے x اور
۱۸۸۸۵ y محدد ہیں دائری نلکی کی مساوات

$$x^2 + y^2 = (\cos t)^2 + (\sin t)^2 = 1$$

۱۸۸۸۶ کو مطمئن کرتے ہیں لہٰذا $\boldsymbol{r}$ اس نلکی پر پایا جاتا ہے۔ متغیر t بڑھنے $\boldsymbol{k}$ جزو بڑھتا ہے جس کی وجہ سے منحنی اوپر بلند ہو گی۔ نلکی کے گرد ایک دائرہ $t = 2\pi$
۱۸۸۸۷ پر مکمل ہو گا۔ درج ذیل مساوات پیچ دار تفاعل کی مقدار معلوم مساوات ہے، جہاں وقفہ $-\infty \leq t \leq \infty$ ہے۔

$$x = \cos t, \quad y = \sin t, \quad z = t$$

۱۸۸۸۸ □

۱۸۸۸۹ **حد اور استمرار**

۱۸۸۹۰ ہم سمتی قیمت تفاعل کی حدوں کی تعریف حقیقی قیمت تفاعل کی حد کی طرح کرتے ہیں۔

۱۸۸۹۱ تعریف: فرض کریں $\boldsymbol{r} = f(t)\boldsymbol{i} + g(t)\boldsymbol{j} + h(t)\boldsymbol{k}$ ایک سمتی تفاعل اور $\boldsymbol{L}$ ایک سمتیہ ہے۔ اگر ہر عدد $\epsilon > 0$ کے لئے ایک
۱۸۸۹۲ ایسا مطابق عدد $\delta > 0$ پایا جاتا ہو کہ تمام t کے لئے

$$0 < |t - t_0| < \delta \quad \Longrightarrow \quad |\boldsymbol{r}(t) - \boldsymbol{L}| < \epsilon$$

۱۸۸۹۳ ہو تب ہم کہتے ہیں کہ جب t کی قیمت t_0 کے قریب تر ہو تب $\boldsymbol{r}$ کا حد[۶] $\boldsymbol{L}$ ہو گا جس کو درج ذیل لکھا جاتا ہے۔

$$\lim_{t \to t_0} \boldsymbol{r}(t) = \boldsymbol{L}$$

۱۸۸۹۴ □

۱۸۸۹۵ اگر $\boldsymbol{L} = L_1\boldsymbol{i} + L_2\boldsymbol{j} + L_3\boldsymbol{k}$ ہو تب $\lim_{t \to t_0} \boldsymbol{r}(t) = \boldsymbol{L}$ ٹھیک اس صورت ہو گا جب درج ذیل ہو۔

$$\lim_{t \to t_0} f(t) = L_1, \quad \lim_{t \to t_0} g(t) = L_2, \quad \lim_{t \to t_0} h(t) = L_3$$

۱۸۸۹۶ درج ذیل مساوات سمتی تفاعل کا حد تلاش کرنے کی عملی ترکیب دیتی ہے۔

$$\lim_{t \to t_0} \boldsymbol{r}(t) = \Big(\lim_{t \to t_0} f(t)\Big)\boldsymbol{i} + \Big(\lim_{t \to t_0} g(t)\Big)\boldsymbol{j} + \Big(\lim_{t \to t_0} h(t)\Big)\boldsymbol{k} \tag{۲}$$

---

[۶] limit

۱۸۸۹۷ مثال ۱۲.۲: اگر $\boldsymbol{r}(t) = (\cos t)\boldsymbol{i} + (\sin t)\boldsymbol{j} + t\boldsymbol{k}$ ہو تب درج ذیل ہو گا۔

$$\begin{aligned}\lim_{t\to\frac{\pi}{4}} &= \Big(\lim_{t\to\frac{\pi}{4}} \cos t\Big)\boldsymbol{i} + \Big(\lim_{t\to\frac{\pi}{4}} \sin t\Big)\boldsymbol{j} + \Big(\lim_{t\to\frac{\pi}{4}} t\Big)\boldsymbol{k}\\ &= \frac{\sqrt{2}}{2}\boldsymbol{i} + \frac{\sqrt{2}}{2}\boldsymbol{j} + \frac{\pi}{4}\boldsymbol{k}\end{aligned}$$

۱۸۸۹۸ □

۱۸۸۹۹ ہم سمتی تفاعل کی استمرار کی تعریف حقیقی قیمت تفاعل کی استمرار کی تعریف کی طرح کرتے ہیں۔

۱۸۹۰۰ تعریف: اگر $\boldsymbol{r}(t)$ کے دائرہ کار میں نقطہ t_0 پر $\lim_{t\to t_0} \boldsymbol{r}(t) = \boldsymbol{r}(t_0)$ ہو تب $\boldsymbol{r}(t)$ اس **نقطہ پر استمراری**[۷] ہو گا۔ اگر اپنے
۱۸۹۰۱ پورے دائرہ کار میں ہر نقطہ پر $\boldsymbol{r}(t)$ استمراری ہو تب یہ تفاعل **استمراری**[۸] ہو گا۔

۱۸۹۰۲ □

۱۸۹۰۳ چونکہ حد کو اجزاء کی صورت میں لکھا جا سکتا ہے لہٰذا سمتی تفاعل کو استمرار کے لئے پرکھنے کی خاطر ہم اس کے اجزاء پر نظر ڈالتے ہیں۔

۱۸۹۰۴ **ایک نقطہ پر ارکان کے استمرار کا پرکھ**

۱۸۹۰۵ نقطہ t_0 پر سمتی تفاعل $\boldsymbol{r}(t) = f(t)\boldsymbol{i} + g(t)\boldsymbol{j} + h(t)\boldsymbol{k}$ اس صورت استمراری ہو گا جب t_0 پر f ، g اور h استمراری ہوں۔

۱۸۹۰۶ مثال ۱۲.۳: (ا) درج ذیل تفاعل اس لئے استمراری ہے کہ $\cos t$ ، $\sin t$ اور t استمراری ہیں۔

$$\boldsymbol{r}(t) = (\cos t)\boldsymbol{i} + (\sin t)\boldsymbol{j} + t\boldsymbol{k}$$

۱۸۹۰۷ (ب) درج ذیل تفاعل ہر عدد صحیح پر عدم استمراری ہے۔

$$\boldsymbol{r}(t) = (\cos t)\boldsymbol{i} + (\sin t)\boldsymbol{j} + |t|\,\boldsymbol{k}$$

۱۸۹۰۸ □

۱۸۹۰۹ **تفرقات اور حرکت**

۱۸۹۱۰ فرض کریں فضا میں ایک متحرک ذرہ جو ایک منحنی پر چل رہا ہو کا تعین گر سمتیہ $\boldsymbol{r}(t) = f(t)\boldsymbol{i} + g(t)\boldsymbol{j} + h(t)\boldsymbol{k}$ ہو جہاں f ، g اور
۱۸۹۱۱ h متغیر t کے قابل تفرق تفاعل ہیں۔ ایسی صورت میں لمحات t اور $t + \Delta t$ پر اس ذرے کے مقام میں فرق

$$\Delta\boldsymbol{r}(t) = \boldsymbol{r}(t + \Delta t) - \boldsymbol{r}(t)$$

---

[۷] continuousatapoint
[۸] continuous

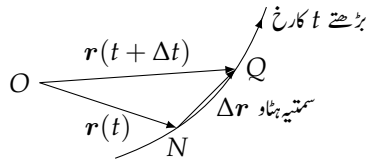

شکل ۱۲.۳: لمحات t اور $t + \Delta t$ کے بیچ ایک ذرے کا ہٹاو $\overrightarrow{NQ} = \Delta\boldsymbol{r}$ ہو گا۔ نیا سمتی مجموعہ $\boldsymbol{r}(t) + \Delta\boldsymbol{r}$، ذرے کا نیا مقام $\boldsymbol{r}(t+\Delta t)$ دے گا۔

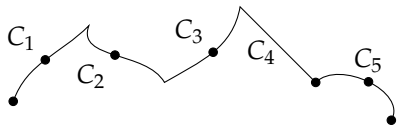

شکل ۱۲.۴: پانچ ہموار منحنیات کو ساتھ ساتھ جوڑ کر ٹکڑوں میں ہموار منحنی حاصل کی گئی ہے۔

۱۸۹۱۲ ہو گا جس کو اجزاء کی صورت میں درج ذیل لکھا جا سکتا ہے (شکل ۱۲.۳)۔

$$\begin{aligned}\Delta\boldsymbol{r} &= \boldsymbol{r}(t+\Delta t) - \boldsymbol{r}(t)\\ &= [f(t+\Delta t)\boldsymbol{i} + g(t+\Delta t)\boldsymbol{j} + h(t+\Delta t)\boldsymbol{k}] - [f(t)\boldsymbol{i} + g(t)\boldsymbol{j} + h(t)\boldsymbol{k}]\\ &= [f(t+\Delta t) - f(t)]\boldsymbol{i} + [g(t+\Delta t) - g(t)]\boldsymbol{j} + [h(t+\Delta t) - h(t)]\boldsymbol{k}\end{aligned}$$

۱۸۹۱۳ اب اگر Δt صفر کے قریب ہونے کی کوشش کرے تب تین اقدام بیکوقت ہوتے نظر آئیں گے۔ اول، منحنی پر چلتے ہوئے Q نقطہ N تک پہنچے گا۔
۱۸۹۱۴ دوسرا، سیکنٹ خط NQ نقطہ N پر منحنی کے تحدیدی مماسی مقام پر پہنچے گا۔ تیسرا، حاصل تقسیم $\frac{\Delta\boldsymbol{r}}{\Delta t}$ درج ذیل حد تک پہنچے گا۔

$$\begin{aligned}\lim_{\Delta t\to 0}\frac{\Delta\boldsymbol{r}}{\Delta t} &= \left[\lim_{\Delta t\to 0}\frac{f(t+\Delta t)-f(t)}{\Delta t}\right]\boldsymbol{i} + \left[\lim_{\Delta t\to 0}\frac{g(t+\Delta t)-g(t)}{\Delta t}\right]\boldsymbol{j}\\ &\quad + \left[\lim_{\Delta t\to 0}\frac{h(t+\Delta t)-h(t)}{\Delta t}\right]\boldsymbol{k}\\ &= \left[\frac{\mathrm{d}f}{\mathrm{d}t}\right]\boldsymbol{i} + \left[\frac{\mathrm{d}g}{\mathrm{d}t}\right]\boldsymbol{j} + \left[\frac{\mathrm{d}h}{\mathrm{d}t}\right]\boldsymbol{k}\end{aligned}$$

۱۸۹۱۵ یوں ماضی کے تجربات ہمیں درج ذیل تعریف تک پہنچاتے ہیں۔

۱۸۹۱۶ تعریف: نقطہ t_0 پر سمتی تفاعل $\boldsymbol{r}(t) = f(t)\boldsymbol{i} + g(t)\boldsymbol{j} + h(t)\boldsymbol{k}$ اس صورت قابل تفرق ہو گا جب t_0 پر f، g
۱۸۹۱۷ اور h قابل تفرق ہوں۔ اس طرح اگر $\boldsymbol{r}$ اپنے دائرہ کار میں ہر نقطہ پر قابل تفرق ہو تب $\boldsymbol{r}$ قابل تفرق ہو گا۔ کسی بھی نقطہ t پر جہاں $\boldsymbol{r}$ قابل تفرق ہو،
۱۸۹۱۸ اس کا تفرق درج ذیل سمتیہ ہو گا۔

$$\frac{\mathrm{d}\boldsymbol{r}}{\mathrm{d}t} = \lim_{\Delta t\to 0}\frac{\boldsymbol{r}(t+\Delta t)-\boldsymbol{r}(t)}{\Delta t} = \frac{\mathrm{d}f}{\mathrm{d}t}\boldsymbol{i} + \frac{\mathrm{d}g}{\mathrm{d}t}\boldsymbol{j} + \frac{\mathrm{d}h}{\mathrm{d}t}\boldsymbol{k}$$

۱۸۹۱۹ اگر $\frac{\mathrm{d}\boldsymbol{r}}{\mathrm{d}t}$ استمراری اور کبھی بھی $\mathbf{0}$ نہ ہو، یعنی جب f، g اور h کے استمراری پہلے تفرق پائے جاتے ہوں اور جو بیکوقت 0 نہ ہوں، تب جس منحنی پر
۱۸۹۲۰ $\boldsymbol{r}$ چلتا ہو وہ **ہموار**[9] ہو گی۔

۱۸۹۲۱ □

[9] smooth

سمتیہ $\frac{\mathrm{d}\boldsymbol{r}}{\mathrm{d}t}$ جب $\mathbf{0}$ سے مختلف ہو، یہ منحنی کا مماسی سمتیہ ہو گا۔ نقطہ $(f(t_0), g(t_0), h(t_0))$ پر ایک منحنی کے **مماسی خط** سے مراد وہ خط ہے جو اس نقطہ سے گزرتا ہو اور جو t_0 پر $\frac{\mathrm{d}\boldsymbol{r}}{\mathrm{d}t}$ کے متوازی ہو۔ ہم ہموار منحنی پر $\frac{\mathrm{d}\boldsymbol{r}}{\mathrm{d}t} \neq \mathbf{0}$ کی شرط رکھ کر اس بات کو یقینی بناتے ہیں کہ ہر نقطہ پر منحنی کا مماس استمراری طور پر مڑے گا۔ ایک ہموار منحنی پر سخت موڑ نہیں پایا جاتا ہے اور نا ہی اس پر کوئی کنگرہ پایا جاتا ہے۔

ایک منحنی جو متناہی تعداد کی ہموار منحنیات (بغیر خالی فاصلہ چھوڑے، ساتھ ساتھ) ملا کر حاصل کی گئی ہو **ٹکڑوں میں ہموار**[10] کہلاتی ہے (شکل ۱۲.۴)۔

شکل ۱۲.۴ پر ایک بار دوبارہ نظر ڈالیں۔ ہم نے اس شکل کو مثبت Δt کے لئے بنایا لہٰذا $\Delta \boldsymbol{r}$ آگے چلنے کی طرف اشارہ کرے گا۔ سمتیہ $\frac{\Delta \boldsymbol{r}}{\Delta t}$ (جسے دکھایا نہیں گیا ہے اور) جس کا وہی رخ ہے جو $\Delta \boldsymbol{r}$ کا ہے بھی آگے کی رخ اشارہ کرے گا۔ اگر Δt منفی ہو تا تب $\Delta \boldsymbol{r}$ چلنے کے مخالف رخ اشارہ کرے گا البتہ حاصل تقسیم $\frac{\Delta \boldsymbol{r}}{\Delta t}$ جو $\Delta \boldsymbol{r}$ کا منفی غیر سمتی مضرب ہے اب بھی چلنے کے رخ اشارہ کرے گا۔ ہم نے دیکھا کہ $\Delta \boldsymbol{r}$ جس رخ بھی اشارہ کرتا ہو، $\frac{\Delta \boldsymbol{r}}{\Delta t}$ ہر صورت چلنے کے رخ اشارہ کرتا ہے اور ہم توقع کرتے ہیں کہ سمتیہ $\frac{\mathrm{d}\boldsymbol{r}}{\mathrm{d}t} = \lim_{\Delta t \to 0} \frac{\Delta \boldsymbol{r}}{\Delta t}$ جب $\mathbf{0}$ نہ ہو، بھی ہر صورت چلنے کے رخ اشارہ کرے گا۔ اس طرح ایک ذرہ کی سمتی رفتار کو ہم $\frac{\mathrm{d}\boldsymbol{r}}{\mathrm{d}t}$ سے ظاہر کر سکتے ہیں۔ یہ چلنے کی رخ دیتا ہے اور اس کی شرح، وقت کے لحاظ سے مقام کی تبدیلی دیتا ہے۔ ایک ہموار منحنی کے لئے سمتی رفتار کبھی بھی صفر نہیں ہو گا؛ یہ ذرہ نا کبھی رکتا ہے اور نا ہی یہ واپسی اختیار کرتا ہے۔

تعریف: اگر فضا میں ہموار منحنی پر چلتے ہوئے ذرے کا تعین گر سمتیہ $\boldsymbol{r}$ ہو تب

$$\boldsymbol{v}(t) = \frac{\mathrm{d}\boldsymbol{r}}{\mathrm{d}t}$$

اس ذرے کی **سمتی رفتار**[11] ہو گی جو اس منحنی کو مماسی ہو گی۔ کسی بھی لمحہ t پر، $\boldsymbol{v}$ کا رخ **چلنے کا رخ** ہو گا، $\boldsymbol{v}$ کی مقدار اس ذرے کی رفتار ہو گی، اور تفرق $\boldsymbol{a} = \frac{\mathrm{d}\boldsymbol{v}}{\mathrm{d}t}$، جب پایا جاتا ہو، اس ذرے کی **اسراع**[12] ہو گی۔ مختصراً درج ذیل ہو گا۔

ا. مقام کا تفرق، سمتی رفتار ہو گا: $\boldsymbol{v} = \frac{\mathrm{d}\boldsymbol{r}}{\mathrm{d}t}$

ب. سمتی رفتار کی مقدار، ذرے کی رفتار ہو گی: $\text{رفتار} = |\boldsymbol{v}|$

ج. سمتی رفتار کا تفرق، اسراع ہو گا: $\boldsymbol{a} = \frac{\mathrm{d}\boldsymbol{v}}{\mathrm{d}t} = \frac{\mathrm{d}^2\boldsymbol{r}}{\mathrm{d}t^2}$

د. لمحہ t پر چلنے کا رخ سمتیہ $\frac{\boldsymbol{v}}{|\boldsymbol{v}|}$ دیگا۔

□

ہم متحرک ذرے کی سمتی رفتار کو اس کی رفتار اور رخ کا حاصل ضرب لکھ سکتے ہیں۔

$$\text{سمتی رفتار} = |\boldsymbol{v}| \left(\frac{\boldsymbol{v}}{|\boldsymbol{v}|}\right) = (\text{رفتار})(\text{رخ})$$

---

[10] piecewisesmooth
[11] velocity
[12] acceleration

۱۸۹۴۱ مثال ۱۲.۴: لمحہ t پر ایک متحرک جسم کا مقام سمتیہ

$$\boldsymbol{r}(t) = (3\cos t)\boldsymbol{i} + (3\sin t)\boldsymbol{j} + t^2\boldsymbol{k}$$

۱۸۹۴۲ دیتا ہے۔ اس جسم کی رفتار اور رخ لمحہ $t = 2$ پر معلوم کریں۔ کس لمحہ پر (اگر کبھی ایسا ہو بھی) اس جسم کی سمتی رفتار اور اسراع آپس میں عمودی ہوں گے؟

۱۸۹۴۳ حل:

$$\begin{aligned}
\boldsymbol{r}(t) &= (3\cos t)\boldsymbol{i} + (3\sin t)\boldsymbol{j} + t^2\boldsymbol{k} \\
\boldsymbol{v} &= \frac{\mathrm{d}\boldsymbol{r}}{\mathrm{d}t} = -(3\sin t)\boldsymbol{i} + (3\cos t)\boldsymbol{j} + 2t\boldsymbol{k} \\
\boldsymbol{a} &= \frac{\mathrm{d}^2\boldsymbol{r}}{\mathrm{d}t^2} = -(3\cos t)\boldsymbol{i} - (3\sin t)\boldsymbol{j} + 2\boldsymbol{k}
\end{aligned}$$

۱۸۹۴۴ لمحہ $t = 2$ پر اس جسم کی رفتار اور رخ درج ذیل ہیں۔

$$\begin{aligned}
\left|\boldsymbol{v}(2)\right| &= \sqrt{(-3\sin 2)^2 + (-3\cos 2)^2 + (4)^2} = 5 && \text{رفتار} \\
\frac{\boldsymbol{v}(2)}{\left|\boldsymbol{v}(2)\right|} &= -\left(\frac{3}{5}\sin 2\right)\boldsymbol{i} + \left(\frac{3}{5}\cos 2\right)\boldsymbol{j} + \frac{4}{5}\boldsymbol{k} && \text{رخ}
\end{aligned}$$

۱۸۹۴۵ جس لمحہ پر $\boldsymbol{v}$ اور $\boldsymbol{a}$ ایک دوسرے کے عمودی ہوں اس لمحہ پر $\boldsymbol{v}\cdot\boldsymbol{a} = 0$ ہو گا۔ یوں

$$\boldsymbol{v}\cdot\boldsymbol{a} = 9\sin t\cos t - 9\cos t\sin t + 4t = 4t = 0$$

۱۸۹۴۶ سے $t = 0$ حاصل ہوتا ہے۔ اس لمحہ پر سمتی رفتار اور اسراع ایک دوسرے کے عمودی ہوں گے۔ □

۱۸۹۴۷ **قواعد تفرق**

۱۸۹۴۸ چونکہ سمتی تفاعل کے تفرقات جزو در جزو حاصل کرنا ممکن ہے لہٰذا سمتی تفاعل کے تفرقات کے قواعد کی نوعیت غیر سمتی تفاعل کے تفرقات کے قواعد کی
۱۸۹۴۹ طرح ہو گی۔

۱۸۹۵۰ **سمتی تفاعل کے تفرقات کے قواعد**

۱۸۹۵۱

۱۸۹۵۲ قاعدہ مستقل تفاعل: $\frac{\mathrm{d}}{\mathrm{d}t}\boldsymbol{C} = \boldsymbol{0}$ جہاں $\boldsymbol{C}$ ایک مستقل سمتیہ ہے۔

۱۸۹۵۳ اگر $\boldsymbol{u}$ اور $\boldsymbol{v}$ متغیر t کے قابل تفرق سمتی تفاعل ہوں اور f متغیر t کا قابل تفرق غیر سمتی تفاعل ہو تب

۱۸۹۵۴ قاعدہ غیر سمتی مضرب: $\frac{\mathrm{d}}{\mathrm{d}t}(c\boldsymbol{u}) = c\frac{\mathrm{d}\boldsymbol{u}}{\mathrm{d}t}$ جہاں c مستقل عدد ہے۔

۱۸۹۵۵ $$\frac{\mathrm{d}}{\mathrm{d}t}(f\boldsymbol{u}) = \frac{\mathrm{d}f}{\mathrm{d}t}\boldsymbol{u} + f\frac{\mathrm{d}\boldsymbol{u}}{\mathrm{d}t}$$

۱۸۹۵۶ قاعدہ مجموعہ: $\frac{\mathrm{d}}{\mathrm{d}t}(\boldsymbol{u}+\boldsymbol{v}) = \frac{\mathrm{d}\boldsymbol{u}}{\mathrm{d}t} + \frac{\mathrm{d}\boldsymbol{v}}{\mathrm{d}t}$

۱۸۹۵۷ قاعدہ فرق: $\frac{\mathrm{d}}{\mathrm{d}t}(\boldsymbol{u}-\boldsymbol{v}) = \frac{\mathrm{d}\boldsymbol{u}}{\mathrm{d}t} - \frac{\mathrm{d}\boldsymbol{v}}{\mathrm{d}t}$

۱۸۹۵۸ قاعدہ ضرب نقطہ: $\frac{\mathrm{d}}{\mathrm{d}t}(\boldsymbol{u}\cdot\boldsymbol{v}) = \frac{\mathrm{d}\boldsymbol{u}}{\mathrm{d}t}\cdot\boldsymbol{v} + \boldsymbol{u}\cdot\frac{\mathrm{d}\boldsymbol{v}}{\mathrm{d}t}$

۱۸۹۵۹ قاعدہ ضرب صلیبی: $\frac{\mathrm{d}}{\mathrm{d}t}(\boldsymbol{u}\times\boldsymbol{v}) = \frac{\mathrm{d}\boldsymbol{u}}{\mathrm{d}t}\times\boldsymbol{v} + \boldsymbol{u}\times\frac{\mathrm{d}\boldsymbol{v}}{\mathrm{d}t}$

۱۸۹۶۰ قاعدہ زنجیر: $\frac{\mathrm{d}\boldsymbol{r}}{\mathrm{d}s} = \frac{\mathrm{d}\boldsymbol{r}}{\mathrm{d}t}\frac{\mathrm{d}t}{\mathrm{d}s}$ جہاں $\boldsymbol{r}$ متغیر t کا قابل تفرق تفاعل ہے اور t متغیر s کا قابل تفرق تفرق ہے۔

۱۸۹۶۱ صلیبی ضرب میں سمتیات کی ترتیب نہایت اہم ہے۔ یوں اگر بائیں ہاتھ $\boldsymbol{u}$ کے بعد $\boldsymbol{v}$ آئے، تب دائیں ہاتھ بھی $\boldsymbol{u}$ کے بعد $\boldsymbol{v}$ ہو گا۔ ایسا نہ کرنے سے
۱۸۹۶۲ قیمت کی علامت تبدیل ہو گی۔

۱۸۹۶۳ ہم قاعدہ ضرب اور زنجیری قاعدہ کو ثابت کرتے ہیں۔ باقی ثبوت آپ کو مشق میں پیش کرنے ہوں گے۔

۱۸۹۶۴ ثبوت: قاعدہ ضرب نقطہ
۱۸۹۶۵ درج ذیل سمتیات فرض کریں۔

$$\begin{aligned}\boldsymbol{u} &= u_1(t)\boldsymbol{i} + u_2(t)\boldsymbol{j} + u_3(t)\boldsymbol{k}\\ \boldsymbol{v} &= v_1(t)\boldsymbol{i} + v_2(t)\boldsymbol{j} + v_3(t)\boldsymbol{k}\end{aligned}$$

۱۸۹۶۶ تب درج ذیل ہو گا۔

$$\begin{aligned}\frac{\mathrm{d}}{\mathrm{d}t}(\boldsymbol{u}\cdot\boldsymbol{v}) &= \frac{\mathrm{d}}{\mathrm{d}t}(u_1v_1 + u_2v_2 + u_3v_3)\\ &= \underbrace{u_1'v_1 + u_2'v_2 + u_3'v_3}_{\boldsymbol{u}'\cdot\boldsymbol{v}} + \underbrace{u_1v_1' + u_2v_2' + u_3v_3'}_{\boldsymbol{u}\cdot\boldsymbol{v}'}\end{aligned}$$

۱۸۹۶۷ □

۱۸۹۶۸ ثبوت: قاعدہ ضرب صلیبی
۱۸۹۶۹ ہم غیر سمتی تفاعل کے قاعدہ ضرب کی طرح اس کو ثابت کرتے ہیں۔ تفرق کی تعریف کی رو سے

$$\frac{\mathrm{d}}{\mathrm{d}t}(\boldsymbol{u}\times\boldsymbol{v}) = \lim_{h\to 0}\frac{\boldsymbol{u}(t+h)\times\boldsymbol{v}(t+h) - \boldsymbol{u}(t) - \boldsymbol{v}(t)}{h}$$

۱۸۹۷۰ ہو گا۔ ہم شمار کنندہ کے ساتھ $\boldsymbol{u}(t)\times\boldsymbol{v}(t+h)$ جمع اور منفی کرتے ہیں تاکہ درج بالا کو ایسی حاصل تقسیمات کی صورت میں لکھنا ممکن ہو جن میں

۱۸۹۷۱ $\boldsymbol{u}$ اور $\boldsymbol{v}$ کے تفرقات پائے جاتے ہوں۔ یوں درج ذیل ہو گا۔

$$
\begin{aligned}
&\frac{\mathrm{d}}{\mathrm{d}t}(\boldsymbol{u}\times\boldsymbol{v})\\
&\quad=\lim_{h\to 0}\frac{\boldsymbol{u}(t+h)\times\boldsymbol{v}(t+h)-\boldsymbol{u}(t)\times\boldsymbol{v}(t+h)+\boldsymbol{u}(t)\times\boldsymbol{v}(t+h)-\boldsymbol{u}(t)\times\boldsymbol{v}(t)}{h}\\
&\quad=\lim_{h\to 0}\left[\frac{\boldsymbol{u}(t+h)-\boldsymbol{u}(t)}{h}\times\boldsymbol{v}(t+h)+\boldsymbol{u}(t)\times\frac{\boldsymbol{v}(t+h)-\boldsymbol{v}(t)}{h}\right]\\
&\quad=\lim_{h\to 0}\frac{\boldsymbol{u}(t+h)-\boldsymbol{u}(t)}{h}\times\lim_{h\to 0}\boldsymbol{v}(t+h)+\lim_{h\to 0}\boldsymbol{u}(t)\times\lim_{h\to 0}\frac{\boldsymbol{v}(t+h)-\boldsymbol{v}(t)}{h}
\end{aligned}
$$

۱۸۹۷۲ آخری لکیر پر دونوں مساوات اس لئے ٹھیک ہیں کہ دو سمتیات کے سمتی ضرب کا حد، ان کی حدوں کا سمتی ضرب ہوتا ہے (سوال ۱۲.۵۲)۔ چونکہ t پر $\boldsymbol{v}$
۱۸۹۷۳ قابل تفرق لہٰذا استمراری ہے، اس لئے جیسے جیسے h کی قیمت صفر تک پہنچتی ہے ویسے ویسے $\boldsymbol{v}(t+h)$ کی قیمت $\boldsymbol{v}(t)$ تک پہنچتی ہے۔ ان دو حاصل
۱۸۹۷۴ تقسیم کی قیمتیں t پر $\frac{\mathrm{d}\boldsymbol{u}}{\mathrm{d}t}$ اور $\frac{\mathrm{d}\boldsymbol{v}}{\mathrm{d}t}$ تک پہنچتی ہیں۔ مختصراً درج ذیل ہو گا۔

$$\frac{\mathrm{d}}{\mathrm{d}t}(\boldsymbol{u}\times\boldsymbol{v})=\frac{\mathrm{d}\boldsymbol{u}}{\mathrm{d}t}\times\boldsymbol{v}+\boldsymbol{u}\times\frac{\mathrm{d}\boldsymbol{v}}{\mathrm{d}t}$$

۱۸۹۷۵ □

۱۸۹۷۶ ثبوت: زنجیری قاعدہ

۱۸۹۷۷ فرض کریں $\boldsymbol{r}(t)=f(t)\boldsymbol{i}+g(t)\boldsymbol{j}+h(t)\boldsymbol{k}$ متغیر t کا قابل تفرق سمتی تفاعل ہے اور t از خود کسی متغیر s کا قابل تفرق غیر سمتی
۱۸۹۷۸ تفاعل ہے۔ تب f ، g اور h متغیر s کے قابل تفرق تفاعل ہوں گے اور حقیقی قیمت تفاعل کے زنجیری قاعدہ کے تحت درج ذیل ہو گا۔

$$
\begin{aligned}
\frac{\mathrm{d}\boldsymbol{r}}{\mathrm{d}s}&=\frac{\mathrm{d}f}{\mathrm{d}s}\boldsymbol{i}+\frac{\mathrm{d}g}{\mathrm{d}s}\boldsymbol{j}+\frac{\mathrm{d}h}{\mathrm{d}s}\boldsymbol{k}\\
&=\frac{\mathrm{d}f}{\mathrm{d}t}\frac{\mathrm{d}t}{\mathrm{d}s}\boldsymbol{i}+\frac{\mathrm{d}g}{\mathrm{d}t}\frac{\mathrm{d}t}{\mathrm{d}s}\boldsymbol{j}+\frac{\mathrm{d}h}{\mathrm{d}t}\frac{\mathrm{d}t}{\mathrm{d}s}\boldsymbol{k}\\
&=\left(\frac{\mathrm{d}f}{\mathrm{d}t}\boldsymbol{i}+\frac{\mathrm{d}g}{\mathrm{d}t}\boldsymbol{j}+\frac{\mathrm{d}h}{\mathrm{d}t}\boldsymbol{k}\right)\frac{\mathrm{d}t}{\mathrm{d}s}\\
&=\frac{\mathrm{d}\boldsymbol{r}}{\mathrm{d}t}\frac{\mathrm{d}t}{\mathrm{d}s}
\end{aligned}
$$

۱۸۹۷۹ □

۱۸۹۸۰ مستقل لمبائی کے سمتی تفاعل

۱۸۹۸۱ ایک کرہ جس کا مرکز مبدا پر ہو، پر جو جسم حرکت کرتا ہو، اس جسم کے تعین گر سمتیہ کی لمبائی اس کرہ کے رداس جتنی ہو گی (شکل ۱۲.۵)۔ اس کا سمتی رفتار سمتیہ
۱۸۹۸۲ $\frac{\mathrm{d}\boldsymbol{r}}{\mathrm{d}t}$ ، جو حرکت کی راہ کو مماسی ہو گا، اس کرہ کو مماسی لہٰذا $\boldsymbol{r}$ کو قائمہ ہو گا۔ مستقل لمبائی والے قابل تفرق سمتی تفاعل کے لئے ہر بار ایسا ہی ہو گا۔ ایسا سمتیہ

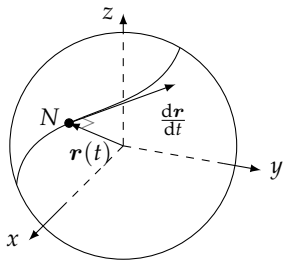

شکل ۱۲.۵: اگر ایک ذرہ ایک کرہ پر یوں حرکت کرتا ہو کہ اس کی مقام $\boldsymbol{r}$ وقت کا قابل تفرق تفاعل ہو، تب $\boldsymbol{r} \cdot \left(\frac{\mathrm{d}\boldsymbol{r}}{\mathrm{d}t}\right) = 0$ ہو گا۔

۱۸۹۸۳ اور اس کا پہلا تفرق ایک دوسرے کو عمودی ہوں گے۔ لمبائی مستقل ہونے کی بدولت، سمتیہ میں تبدیلی درحقیقت سمتیہ کے رخ میں تبدیلی ہو گی اور رخ کی یہ
۱۸۹۸۴ تبدیلی سمتی تفاعل کے ساتھ زاویہ قائمہ پر ہو گی۔

۱۸۹۸۵ اگر $\boldsymbol{u}$ متغیر t کا قابل تفرق سمتی تفاعل ہو اور اس کی لمبائی اٹل ہو تب درج ذیل ہو گا۔

$$\boldsymbol{u} \cdot \frac{\mathrm{d}\boldsymbol{u}}{\mathrm{d}t} = 0 \tag{۳}$$

۱۸۹۸۶ □

۱۸۹۸۷ یہ دیکھنے کی خاطر کہ مساوات ۳ کیوں درست ہے ہم فرض کرتے ہیں کہ سمتی تفاعل $\boldsymbol{u}$ متغیر t کا قابل تفرق تفاعل ہے اور $|\boldsymbol{u}|$ ایک مستقل قیمت ہے۔
۱۸۹۸۸ یوں $\boldsymbol{u} \cdot \boldsymbol{u} = |\boldsymbol{u}|^2$ ایک مستقل ہو گا اور ہم اس مساوات کی دونوں اطراف کا تفرق لے کر درج ذیل حاصل کرتے ہیں۔

$$\begin{aligned}
\frac{\mathrm{d}}{\mathrm{d}t}(\boldsymbol{u} \cdot \boldsymbol{u}) &= \frac{\mathrm{d}}{\mathrm{d}t}(\text{مستقل}) = 0 \\
\frac{\mathrm{d}\boldsymbol{u}}{\mathrm{d}t} \cdot \boldsymbol{u} + \boldsymbol{u} \cdot \frac{\mathrm{d}\boldsymbol{u}}{\mathrm{d}t} &= 0 && \text{قاعدہ ضرب نقطہ میں } \boldsymbol{v} = \boldsymbol{u} \text{ لیتے ہوئے} \\
2\boldsymbol{u} \cdot \frac{\mathrm{d}\boldsymbol{u}}{\mathrm{d}t} &= 0 && \text{ضرب نقطہ قابل تبادل ہے} \\
\boldsymbol{u} \cdot \frac{\mathrm{d}\boldsymbol{u}}{\mathrm{d}t} &= 0
\end{aligned}$$

۱۸۹۸۹ مثال ۱۲.۵: دکھائیں کہ درج ذیل سمتیہ کی لمبائی مستقل ہے اور اس سمتیہ کا تفرق اور $\boldsymbol{u}$ آپس میں عمودی ہیں۔

$$\boldsymbol{u}(t) = (\sin t)\boldsymbol{i} + (\cos t)\boldsymbol{j} + \sqrt{3}\boldsymbol{k}$$

۱۸۹۹۰ حل:

$$\begin{aligned}
\boldsymbol{u}(t) &= (\sin t)\boldsymbol{i} + (\cos t)\boldsymbol{k} + \sqrt{3}\boldsymbol{k} \\
\left|\boldsymbol{u}(t)\right| &= \sqrt{(\sin t)^2 + (\cos t)^2 + (\sqrt{3})^2} = \sqrt{+3} = 2 \\
\frac{\mathrm{d}\boldsymbol{u}}{\mathrm{d}t} &= (\cos t)\boldsymbol{i} - (\sin t)\boldsymbol{j} \\
\boldsymbol{u} \cdot \frac{\mathrm{d}\boldsymbol{u}}{\mathrm{d}t} &= \sin t \cos t - \sin t \cos t = 0
\end{aligned}$$

۱۸۹۹۱ □

۱۸۹۹۲ **سمتی تفاعل کے تکملات**

۱۸۹۹۳ اگر وقفہ I کے ہر نقطہ پر $\boldsymbol{r} = \frac{\mathrm{d}\boldsymbol{R}}{\mathrm{d}t}$ ہو تب قابل تفرق سمتی تفاعل $\boldsymbol{R}(t)$، وقفہ I پر سمتی تفاعل $\boldsymbol{r}(t)$ کا الٹ تفرق ہو گا۔ اگر I پر $\boldsymbol{r}$ کا
۱۸۹۹۴ الٹ تفرق $\boldsymbol{R}$ ہو تب، ایک وقت میں ایک جزو کے ساتھ کام کرتے ہوئے، یہ دکھایا جا سکتا ہے کہ I پر $\boldsymbol{r}$ کے الٹ تفرق کی صورت $\boldsymbol{R} + \boldsymbol{C}$ ہو گی
۱۸۹۹۵ جہاں $\boldsymbol{C}$ کوئی مستقل سمتیہ ہو گا (سوال ۱۲.۵۶)۔ وقفہ I پر $\boldsymbol{r}$ کے الٹ تفرقات کا سلسلہ I پر $\boldsymbol{r}$ کا **غیر قطعی تکمل**[۱۳] ہو گا۔

۱۸۹۹۶ تعریف: متغیر t کے لحاظ سے $\boldsymbol{r}$ کا غیر قطعی تکمل، $\boldsymbol{r}$ کے تمام الٹ تفرقات کا سلسلہ ہو گا، جس کو $\int \boldsymbol{r}(t)\,\mathrm{d}t$ سے ظاہر کیا جاتا ہے۔ اگر $\boldsymbol{r}$ کا
۱۸۹۹۷ الٹ تفرق $\boldsymbol{R}$ ہو تب درج ذیل ہو گا۔

$$\int \boldsymbol{r}(t)\,\mathrm{d}t = \boldsymbol{R}(t) + \boldsymbol{C} \qquad \boldsymbol{C} \text{ مستقل سمتیہ ہے}$$

۱۸۹۹۸ □

۱۸۹۹۹ غیر قطعی تکملات کے تمام حسابی اصول یہاں قابل اطلاق ہوں گے۔

۱۹۰۰۰ مثال ۱۲.۶:

$$\begin{aligned}
\int ((\cos t)\boldsymbol{i} + \boldsymbol{j} - 2t\boldsymbol{k})\,\mathrm{d}t &= \Big(\int \cos t\,\mathrm{d}t\Big)\boldsymbol{i} + \Big(\int \mathrm{d}t\Big)\boldsymbol{j} - \Big(\int 2t\,\mathrm{d}t\Big)\boldsymbol{k} \\
&= (\sin t + \mathrm{C}_1)\boldsymbol{i} + (t + \mathrm{C}_2)\boldsymbol{j} - (t^2 + \mathrm{C}_3)\boldsymbol{k} \\
&= (\sin t)\boldsymbol{i} + t\boldsymbol{j} - t^2\boldsymbol{k} + \boldsymbol{C} \qquad \boldsymbol{C} = \mathrm{C}_1\boldsymbol{i} + \mathrm{C}_2\boldsymbol{j} - \mathrm{C}_3\boldsymbol{k}
\end{aligned}$$

۱۹۰۰۱ غیر سمتی تفاعل کے تکمل کی طرح یہاں بھی، درمیانے دو قدم کے بغیر، آپ بائیں ہاتھ سے سیدھا نتیجہ لکھ سکتے ہیں۔ □

۱۹۰۰۲ سمتی تفاعل کے قطعی تکمل کی تعریف اس کے اجزاء کی صورت میں کی جاتی ہے۔

---

[۱۳] indefiniteintegral

۱۹۰۰۳ تعریف: اگر وقفہ $[a,b]$ پر $\boldsymbol{r}(t) = f(t)\boldsymbol{i} + g(t)\boldsymbol{j} + h(t)\boldsymbol{k}$ کے اجزاء قابل تفرق ہوں تب اس وقفہ پر $\boldsymbol{r}$ بھی قابل تفرق
۱۹۰۰۴ ہوگا اور a تا b سمتی تفاعل $\boldsymbol{r}$ کا قطعی تکمل درج ذیل ہوگا۔

$$\int_a^b \boldsymbol{r}(t)\,\mathrm{d}t = \Big(\int_a^b f(t)\,\mathrm{d}t\Big)\boldsymbol{i} + \Big(\int_a^b g(t)\,\mathrm{d}t\Big)\boldsymbol{j} + \Big(\int_a^b h(t)\,\mathrm{d}t\Big)\boldsymbol{k}$$

۱۹۰۰۵ □

۱۹۰۰۶ قطعی تکملات کے تمام حسابی اصول یہاں قابل اطلاق ہوں گے (سوال ۱۲.۵۴)۔

۱۹۰۰۷ مثال ۱۲.۷:

$$\begin{aligned}
\int_0^\pi ((\cos t)\boldsymbol{i} + \boldsymbol{j} - 2t\boldsymbol{k})\,\mathrm{d}t &= \Big(\int_0^\pi \cos t\,\mathrm{d}t\Big)\boldsymbol{i} + \Big(\int_0^\pi \mathrm{d}t\Big)\boldsymbol{j} - \Big(\int_0^\pi 2t\,\mathrm{d}t\Big)\boldsymbol{k} \\
&= \Big[\sin t\Big]_0^\pi \boldsymbol{i} + \Big[t\Big]_0^\pi \boldsymbol{j} - \Big[t^2\Big]_0^\pi \\
&= [0-0]\boldsymbol{i} + [\pi - 0]\boldsymbol{j} - [\pi^2 - 0^2]\boldsymbol{k} \\
&= \pi\boldsymbol{j} - \pi^2\boldsymbol{k}
\end{aligned}$$

۱۹۰۰۸ □

۱۹۰۰۹ مثال ۱۲.۸: ذرے کے ابتدائی مقام اور ابتدائی سمتی رفتار سے اس کے مقام کا حصول
۱۹۰۱۰ فضا میں حرکت کرتے ہوئے ایک ذرے کا سمتی رفتار

$$\frac{\mathrm{d}\boldsymbol{r}}{\mathrm{d}t} = (\cos t)\boldsymbol{i} - (\sin t)\boldsymbol{j} + \boldsymbol{k}$$

۱۹۰۱۱ ہے۔ اگر لمحہ $t = 0$ پر اس ذرے کا مقام $\boldsymbol{r} = 2\boldsymbol{i} + \boldsymbol{k}$ ہو تب لمحہ t پر اس کا مقام کیا ہوگا؟

۱۹۰۱۲ حل: ہمیں درج ذیل ابتدائی قیمت مسئلہ حل کرنا ہوگا۔

$$\begin{aligned}
\frac{\mathrm{d}\boldsymbol{r}}{\mathrm{d}t} &= (\cos t)\boldsymbol{i} - (\sin t)\boldsymbol{j} + \boldsymbol{k} && \text{تفرقی مساوات} \\
\boldsymbol{r}(0) &= 2\boldsymbol{i} + \boldsymbol{k} && \text{ابتدائی معلومات}
\end{aligned}$$

۱۹۰۱۳ دونوں اطراف کا t کے لحاظ سے تکمل لے کر

$$\boldsymbol{r}(t) = (\sin t)\boldsymbol{i} + (\cos t)\boldsymbol{j} + t\boldsymbol{k} + \boldsymbol{C}$$

۱۹۰۱۴ حاصل ہوتا ہے۔ ہم ابتدائی معلومات استعمال کرتے ہوئے تکمل کا مستقل $\boldsymbol{C}$ معلوم کرتے ہیں۔

$$\begin{aligned}
(\sin 0)\boldsymbol{i} + (\cos 0)\boldsymbol{j} + (0)\boldsymbol{k} + \boldsymbol{C} &= 2\boldsymbol{i} + \boldsymbol{k} \qquad \boldsymbol{r}(0) = 2\boldsymbol{i} + \boldsymbol{k} \\
\boldsymbol{j} + \boldsymbol{C} &= 2\boldsymbol{i} + \boldsymbol{k} \\
\boldsymbol{C} &= 2\boldsymbol{i} - \boldsymbol{j} + \boldsymbol{k}
\end{aligned}$$

۱۹۰۱۵ وقت t کے لحاظ سے ذرے کا مقام درج ذیل ہو گا۔

$$\boldsymbol{r}(t) = (\sin t + 2)\boldsymbol{i} + (\cos t - 1)\boldsymbol{j} + (t+1)\boldsymbol{k}$$

۱۹۰۱۶ حاصل نتیجہ کو پرکھنے کی خاطر ہم اس سے

$$\begin{aligned}\frac{\mathrm{d}\boldsymbol{r}}{\mathrm{d}t} &= (\cos t + 0)\boldsymbol{i} + (-\sin t - 0)\boldsymbol{j} + (1+0)\boldsymbol{k}\\ &= (\cos t)\boldsymbol{i} - (\sin t)\boldsymbol{j} + \boldsymbol{k}\end{aligned}$$

۱۹۰۱۷ اور

$$\begin{aligned}\boldsymbol{r}(0) &= (\sin 0 + 2)\boldsymbol{i} + (\cos 0 - 1)\boldsymbol{j} + (0+1)\boldsymbol{k}\\ &= 2\boldsymbol{i} + \boldsymbol{k}\end{aligned}$$

۱۹۰۱۸ حاصل کرتے ہیں۔ □

۱۹۰۱۹ **سوالات**

۱۹۰۲۰ **مستوی xy میں حرکت**

۱۹۰۲۱ سوال ۱.۱۲ تا سوال ۴.۱۲ میں مستوی xy میں لمحہ t پر ایک ذرے کا مقام $\boldsymbol{r}(t)$ ہے۔ اس ذرے کی راہ کی ترسیم کے x اور y محدد کی مساواتیں تلاش
۱۹۰۲۲ کریں۔ اس کے بعد دیے گئے لمحہ پر ذرے کی سمتی رفتار اور اسراع سمتیات دریافت کریں۔

۱۹۰۲۳ سوال ۱.۱۲: $\boldsymbol{r}(t) = (t+1)\boldsymbol{i} + (t^2-1)\boldsymbol{j}, \quad t = 1$

۱۹۰۲۴ سوال ۲.۱۲: $\boldsymbol{r}(t) = (t^2+1)\boldsymbol{i} + (2t-1)\boldsymbol{j}, \quad t = \frac{1}{2}$

۱۹۰۲۵ سوال ۳.۱۲: $\boldsymbol{r}(t) = e^t\boldsymbol{i} + \frac{2}{9}e^{2t}\boldsymbol{j}, \quad t = \ln 3$

۱۹۰۲۶ سوال ۴.۱۲: $\boldsymbol{r}(t) = (\cos 2t)\boldsymbol{i} + (3\sin 2t)\boldsymbol{j}, \quad t = 0$

۱۹۰۲۷

۱۹۰۲۸ سوال ۵.۱۲ تا سوال ۸.۱۲ میں مستوی xy میں مختلف منحنیات پر حرکت کرتے ہوئے ایک ذرے کا تعین گر سمتیہ دیا گیا ہے۔ دیے گئے لمحات پر اس ذرے
۱۹۰۲۹ کے سمتی رفتار اور اسراع کے سمتیات دریافت کریں۔ ان سمتیات کو منحنی پر ترسیم کریں۔

۱۹۰۳۰ سوال ۵.۱۲: دائرہ $x^2 + y^2 = 1$ پر حرکت

۱۹۰۳۱ $\boldsymbol{r}(t) = (\sin t)\boldsymbol{i} + (\cos t)\boldsymbol{j}, \quad t = \frac{\pi}{4}, \frac{\pi}{2}$

۱۹۰۳۲ سوال ۶.۱۲: دائرہ $x^2 + y^2 = 16$ پر حرکت

۱۹۰۳۳ $\boldsymbol{r}(t) = (4\cos\frac{t}{2})\boldsymbol{i} + (4\sin\frac{t}{2})\boldsymbol{j}, \quad t = \pi, \frac{3\pi}{2}$

۱۹۰۳۴ سوال ۷.۱۲: تدویر $x = t - \sin t,\ y = 1 - \cos t$ پر حرکت

۱۹۰۳۵ $\boldsymbol{r}(t) = (t - \sin t)\boldsymbol{i} + (1 - \cos t)\boldsymbol{j}, \quad t = \pi, \frac{3\pi}{2}$

سوال ۱۲.۸: قطع مکافی $y = x^2 + 1$ پر حرکت

$$\boldsymbol{r}(t) = t\boldsymbol{i} + (t^2+1)\boldsymbol{j},\ t = -1, 0, 1$$

فضا میں سمتی رفتار اور اسراع

سوال ۱۲.۹ تا سوال ۱۲.۱۴ میں لمحہ t پر ایک ذرے کا تعین گر سمتیہ $\boldsymbol{r}(t)$ ہے۔ اس ذرے کی سمتی رفتار اور اسراع تلاش کریں۔ دئے گئے لمحہ پر اس کی رفتار اور رخ کی قیمت تلاش کریں۔ اس لمحہ پر ذرے کی سمتی رفتار کو رفتار اور رخ کا حاصل ضرب لکھیں۔

سوال ۱۲.۹: $\boldsymbol{r}(t) = (t+1)\boldsymbol{i} + (t^2-1)\boldsymbol{j} + 2t\boldsymbol{k}, \quad t = 1$

سوال ۱۲.۱۰: $\boldsymbol{r}(t) = (1+t)\boldsymbol{i} + \frac{t^2}{\sqrt{2}}\boldsymbol{j} + \frac{t^2}{3}\boldsymbol{k}, \quad t = 1$

سوال ۱۲.۱۱: $\boldsymbol{r}(t) = (2\cos t)\boldsymbol{i} + (3\sin t)\boldsymbol{j} + 4t\boldsymbol{k}, \quad t = \frac{\pi}{2}$

سوال ۱۲.۱۲: $\boldsymbol{r}(t) = (\sec t)\boldsymbol{i} + (\tan t)\boldsymbol{j} + \frac{4}{3}t\boldsymbol{k}, \quad t = \frac{\pi}{6}$

سوال ۱۲.۱۳: $\boldsymbol{r}(t) = (2\ln(t+1))\boldsymbol{i} + t^2\boldsymbol{j} + \frac{t^2}{2}\boldsymbol{k}, \quad t = 1$

سوال ۱۲.۱۴: $\boldsymbol{r}(t) = (e^{-t})\boldsymbol{i} + (2\cos 3t)\boldsymbol{j} + (2\sin 3t)\boldsymbol{k}, \quad t = 0$

سوال ۱۲.۱۵ تا سوال ۱۲.۱۸ میں لمحہ t پر فضا میں ایک ذرے کا تعین گر سمتیہ $\boldsymbol{r}(t)$ ہے۔ لمحہ $t = 0$ پر اس کی سمتی رفتار اور اسراع کے بیچ زاویہ تلاش کریں۔

سوال ۱۲.۱۵: $\boldsymbol{r}(t) = (3t+1)\boldsymbol{i} + \sqrt{3}t\boldsymbol{j} + t^2\boldsymbol{k}$

سوال ۱۲.۱۶: $\boldsymbol{r}(t) = (\frac{\sqrt{2}}{2}t)\boldsymbol{i} + (\frac{\sqrt{2}}{2}t - 16t^2)\boldsymbol{j}$

سوال ۱۲.۱۷: $\boldsymbol{r}(t) = (\ln(t^2+1))\boldsymbol{i} + (\tan^{-1} t)\boldsymbol{j} + \sqrt{t^2+1}\boldsymbol{k}$

سوال ۱۲.۱۸: $\boldsymbol{r}(t) = \frac{4}{9}(1+t)^{3/2}\boldsymbol{i} + \frac{4}{9}(1-t)^{3/2}\boldsymbol{j} + \frac{1}{3}t\boldsymbol{k}$

سوال ۱۲.۱۹ اور سوال ۱۲.۲۰ میں لمحہ t پر فضا میں ایک ذرے کا تعین گر سمتیہ $\boldsymbol{r}(t)$ ہے۔ دیے گئے وقفہ میں وہ لمحہ یا لمحات تلاش کریں جن پر سمتی رفتار سمتیہ اور اسراع سمتیہ ایک دوسرے کے عمودی ہوں گے۔

سوال ۱۲.۱۹: $\boldsymbol{r}(t) = (t - \sin t)\boldsymbol{i} + (1 - \cos t)\boldsymbol{j}, \quad 0 \le t \le 2\pi$

سوال ۱۲.۲۰: $\boldsymbol{r}(t) = (\sin t)\boldsymbol{i} + t\boldsymbol{j} + (\cos t)\boldsymbol{k}, \quad t \ge 0$

سمتی قیمت تفاعل کا تکمل

سوال ۱۲.۲۱ تا سوال ۱۲.۲۶ میں تکمل حاصل کریں۔

سوال ۱۲.۲۱: $\int_0^1 [t^3\boldsymbol{i} + 7\boldsymbol{j} + (t+1)\boldsymbol{k}]\,\mathrm{d}t$

۱۹۰۶۴ سوال ۱۲.۲۲: $\int_1^2 \left[(6-6t)\boldsymbol{i} + 3\sqrt{t}\boldsymbol{j} + \frac{4}{t^2}\boldsymbol{k}\right] \mathrm{d}t$

۱۹۰۶۵ سوال ۱۲.۲۳: $\int_{-\pi/4}^{\pi/4} [(\sin t)\boldsymbol{i} + (1+\cos t)\boldsymbol{j} + (\sec^2 t)\boldsymbol{k}] \, \mathrm{d}t$

۱۹۰۶۶ سوال ۱۲.۲۴: $\int_0^{\pi/3} [(\sec t \tan t)\boldsymbol{i} + (\tan t)\boldsymbol{j} + (2\sin t \cos t)\boldsymbol{k}] \, \mathrm{d}t$

۱۹۰۶۷ سوال ۱۲.۲۵: $\int_1^4 [\frac{1}{t}\boldsymbol{i} + \frac{1}{5-t}\boldsymbol{j} + \frac{1}{2t}\boldsymbol{k}] \, \mathrm{d}t$

۱۹۰۶۸ سوال ۱۲.۲۶: $\int_0^1 [\frac{2}{\sqrt{1-t^2}}\boldsymbol{i} + \frac{\sqrt{3}}{1+t^2}\boldsymbol{k}] \, \mathrm{d}t$

۱۹۰۶۹

۱۹۰۷۰ ## سمتی تفاعل کے ابتدائی قیمت مسائل

۱۹۰۷۱ سوال ۱۲.۲۷ تا سوال ۱۲.۳۲ میں t کے سمتی تفاعل $\boldsymbol{r}$ کے ابتدائی قیمت مسائل دیے گئے ہیں۔ انہیں حل کریں۔

۱۹۰۷۲ سوال ۱۲.۲۷:

$$\frac{\mathrm{d}\boldsymbol{r}}{\mathrm{d}t} = -t\boldsymbol{i} - t\boldsymbol{j} - t\boldsymbol{k} \qquad \text{تفرقی مساوات}$$
$$\boldsymbol{r}(0) = \boldsymbol{i} + 2\boldsymbol{j} + 3\boldsymbol{k} \qquad \text{ابتدائی شرط}$$

۱۹۰۷۳ سوال ۱۲.۲۸:

$$\frac{\mathrm{d}\boldsymbol{r}}{\mathrm{d}t} = (180t)\boldsymbol{i} + (180t - 16t^2)\boldsymbol{j} \qquad \text{تفرقی مساوات}$$
$$\boldsymbol{r}(0) = 100\boldsymbol{j} \qquad \text{ابتدائی شرط}$$

۱۹۰۷۴ سوال ۱۲.۲۹:

$$\frac{\mathrm{d}\boldsymbol{r}}{\mathrm{d}t} = \tfrac{3}{2}(t+1)^{1/2}\boldsymbol{i} + e^{-t}\boldsymbol{j} + \tfrac{1}{t+1}\boldsymbol{k} \qquad \text{تفرقی مساوات}$$
$$\boldsymbol{r}(0) = \boldsymbol{k} \qquad \text{ابتدائی شرط}$$

۱۹۰۷۵ سوال ۱۲.۳۰:

$$\frac{\mathrm{d}\boldsymbol{r}}{\mathrm{d}t} = (t^3 + 4t)\boldsymbol{i} + t\boldsymbol{j} + 2t^2\boldsymbol{k} \qquad \text{تفرقی مساوات}$$
$$\boldsymbol{r}(0) = \boldsymbol{i} + \boldsymbol{j} \qquad \text{ابتدائی شرط}$$

۱۹۰۷۶ سوال ۱۲.۳۱:

$$\frac{\mathrm{d}^2\boldsymbol{r}}{\mathrm{d}t^2} = -32\boldsymbol{k} \qquad \text{تفرقی مساوات}$$
$$\boldsymbol{r}(0) = 100\boldsymbol{k} \qquad \text{ابتدائی شرائط}$$
$$\left.\frac{\mathrm{d}\boldsymbol{r}}{\mathrm{d}t}\right|_{t=0} = 8\boldsymbol{i} + 8\boldsymbol{j}$$

۱۹۰۷۷ سوال ۱۲.۳۲:

$$\frac{\mathrm{d}^2\boldsymbol{r}}{\mathrm{d}t^2} = -(\boldsymbol{i} + \boldsymbol{j} + \boldsymbol{k}) \qquad \text{تفرقی مساوات}$$
$$\boldsymbol{r}(0) = 10\boldsymbol{i} + 10\boldsymbol{j} + 10\boldsymbol{k} \qquad \text{ابتدائی شرائط}$$
$$\left.\frac{\mathrm{d}\boldsymbol{r}}{\mathrm{d}t}\right|_{t=0} = \boldsymbol{0}$$

۱۹۰۷۸

۱۹۰۷۹ **ہموار منحنیات کے مماسی خط**

۱۹۰۸۰ ہموار منحنی $\boldsymbol{r}(t) = f(t)\boldsymbol{i} + g(t)\boldsymbol{j} + h(t)\boldsymbol{k}$ کا $t = t_0$ پر مماسی خط نقطہ $(f(t_0), g(t_0), h(t_0))$ سے گزرتا ہے
۱۹۰۸۱ اور، t_0 پر اس منحنی کے سمتی رفتار سمتیہ $\boldsymbol{v}(t_0)$، کا متوازی ہوتا ہے (متن میں بتایا گیا)۔ سوال ۱۲.۳۳ تا سوال ۱۲.۳۶ میں $t = t_0$ پر دیے گئے منحنی
۱۹۰۸۲ کے مماسی خط کی مقدار معلوم مساوات حاصل کریں۔

۱۹۰۸۳ سوال ۱۲.۳۳: $\boldsymbol{r}(t) = (\sin t)\boldsymbol{i} + (t^2 - \cos t)\boldsymbol{j} + e^t\boldsymbol{k}, \quad t_0 = 0$

۱۹۰۸۴ سوال ۱۲.۳۴: $\boldsymbol{r}(t) = (2\sin t)\boldsymbol{i} + (2\cos t)\boldsymbol{j} + 5t\boldsymbol{k}, \quad t_0 = 4\pi$

۱۹۰۸۵ سوال ۱۲.۳۵: $\boldsymbol{r}(t) = (a\sin t)\boldsymbol{i} + (a\cos t)\boldsymbol{j} + bt\boldsymbol{k}, \quad t_0 = 2\pi$

۱۹۰۸۶ سوال ۱۲.۳۶: $\boldsymbol{r}(t) = (\cos t)\boldsymbol{i} + (\sin t)\boldsymbol{j} + (\sin 2t)\boldsymbol{k}, \quad t_0 = \frac{\pi}{2}$

۱۹۰۸۷

۱۹۰۸۸ **دائری راہ پر حرکت**

۱۹۰۸۹ سوال ۱۲.۳۷: اکائی دائرہ $x^2 + y^2 = 1$ پر ایک ذرہ کے حرکت کو (ا) تا (د) میں دی گئی مساوات ظاہر کرتی ہیں۔ اگرچہ (ا) تا (د) میں ذرے کا راہ
۱۹۰۹۰ ایک ہے، ان راہ پر اس کا حرکی رویہ مختلف ہے۔ ہر راہ پر درج ذیل کے جوابات دیں۔

۱۹۰۹۱ ۱. کیا ذرے کی رفتار مستقل ہے؟ اگر ایسا ہو، تب اس کی رفتار کتنی ہے؟

۱۹۰۹۲ ۲. کیا ذرے کا سمتی رفتار سمتیہ اور اسراع آپس میں ہر جگہ عمودی ہیں؟

۱۹۰۹۳ ۳. کیا یہ ذرہ اکائی دائرے پر گھڑی کے رخ یا اس کے مخالف رخ گھومتا ہے؟

۱۹۰۹۴ ۴. کیا ذرہ نقطہ $(1, 0)$ سے ابتدا کرتا ہے؟

۱۹۰۹۵ ا. $\boldsymbol{r}(t) = (\cos t)\boldsymbol{i} + (\sin t)\boldsymbol{j}, \quad t \geq 0$

ب. $\boldsymbol{r}(t) = \cos(2t)\boldsymbol{i} + \sin(2t)\boldsymbol{j}, \quad t \geq 0$

ج. $\boldsymbol{r}(t) = \cos(t - \pi/2)\boldsymbol{i} + \sin(t - \pi/2)\boldsymbol{j}, \quad t \geq 0$

د. $\boldsymbol{r}(t) = (\cos t)\boldsymbol{i} - (\sin t)\boldsymbol{j}, \quad t \geq 0$

ھ. $\boldsymbol{r}(t) = \cos(t^2)\boldsymbol{i} + \sin(t^2)\boldsymbol{j}, \quad t \geq 0$

سوال ۱۲.۳۸: دکھائیں کہ درج ذیل ابتدائی قیمت سمتی قیمت تفاعل، مستوی $x + y - 2z = 2$ میں رداس 1 کے دائرہ پر حرکت کو ظاہر کرتا ہے جہاں دائرے کا مرکز $(2, 2, 1)$ ہے۔

$$\boldsymbol{r}(t) = (2\boldsymbol{i} + 2\boldsymbol{j} + \boldsymbol{k}) + \cos t(\tfrac{1}{\sqrt{2}}\boldsymbol{i} - \tfrac{1}{\sqrt{2}}\boldsymbol{j}) + \sin t(\tfrac{1}{\sqrt{3}}\boldsymbol{i} + \tfrac{1}{\sqrt{3}}\boldsymbol{j} + \tfrac{1}{\sqrt{3}}\boldsymbol{k})$$

خط مستقیم پر حرکت

سوال ۱۲.۳۹: لمحہ $t = 0$ پر ایک ذرہ نقطہ $(1, 2, 3)$ پر واقع ہے۔ یہ خط مستقیم پر حرکت کرتا ہوا نقطہ $(4, 1, 4)$ پہنچتا ہے۔ اس کا رفتار $(1, 2, 3)$ پر 2 اور اس کی اسراع مستقل $3\boldsymbol{i} - \boldsymbol{j} + \boldsymbol{k}$ ہے۔ لمحہ t پر اس کا تعین گر سمتیہ $\boldsymbol{r}(t)$ دریافت کریں۔

سوال ۱۲.۴۰: لمحہ $t = 0$ پر ایک ذرہ نقطہ $(1, -1, 2)$ پر پایا جاتا ہے اور اس کا رفتار 2 ہے۔ یہ نقطہ $(3, 0, 3)$ کی طرف یکساں اسراع $2\boldsymbol{i} + \boldsymbol{j} + \boldsymbol{k}$ سے بڑھتا ہے۔ لمحہ t پر اس کا تعین گر سمتیہ $\boldsymbol{r}(t)$ تلاش کریں۔

نظریہ اور مثالیں

سوال ۱۲.۴۱: ایک ذرہ قطع مکافی $y^2 = 2x$ کے بالائی حصہ پر بائیں سے دائیں رخ، 5 اکائیاں فی سیکنڈ کے مستقل رفتار سے حرکت کرتا ہے۔ اس ذرہ کی سمتی رفتار اس لمحہ پر تلاش کریں جب یہ نقطہ $(2, 2)$ سے گزرتا ہے۔

سوال ۱۲.۴۲: ایک ذرہ مستوی xy میں ایک تدویر پر یوں حرکت کرتا ہے کہ لمحہ t اس کا تعین گر سمتیہ

$$\boldsymbol{r}(t) = (t - \sin t)\boldsymbol{i} + (1 - \cos t)\boldsymbol{j}$$

ہوتا ہے۔ $|\boldsymbol{r}|$ اور $|\boldsymbol{a}|$ کی کم سے کم اور زیادہ سے زیادہ قیمتیں تلاش کریں۔ (اشارہ: پہلے $|\boldsymbol{v}|^2$ اور $|\boldsymbol{a}|^2$ کی انتہائی قیمتیں تلاش کریں اور بعد میں جذر لیں۔)

سوال ۱۲.۴۳: ایک ذرہ مستوی yz میں ترخیم $\frac{y^2}{9} + \frac{z^2}{4} = 1$ پر یوں حرکت کرتا ہے کہ لمحہ t پر اس کا تعین گر سمتیہ

$$\boldsymbol{r}(t) = (3\cos t)\boldsymbol{j} + (2\sin t)\boldsymbol{k}$$

ہوتا ہے۔ $|\boldsymbol{r}|$ اور $|\boldsymbol{a}|$ کی کم سے کم اور زیادہ سے زیادہ قیمتیں تلاش کریں۔ (بالائی سوال میں اشارہ دیکھیں۔)

سوال ۱۲.۴۴: مصنوعی سیارہ کا دائری مدار

ایک مصنوعی سیارہ جس کی کمیت m ہے ایک جسم جس کی کمیت M ہے کے گرد دائری مدار پر مستقل رفتار v سے طواف کرتا ہے۔ دائری مدار کا رداس r_0 ہے۔ اس مصنوعی سیارہ کے مدار کا دوری عرصہ T (ایک چکر کے لئے درکار وقت) درج ذیل اقدام کے ذریعہ تلاش کریں۔

۱۹۱۲۰ ا. کمیت M کے جسم کو مبدا پر اور لمحہ $t = 0$ پر مصنوعی سیارہ کو محور x پر رکھیں۔ حرکت کو گھڑی کے رخ تصور کریں (شکل دیکھیں)۔ لمحہ t پر سیارہ
۱۹۱۲۱ کا تعین گر سمتیہ $\boldsymbol{r}(t)$ لیں۔ دکھائیں کہ $\theta = \frac{vt}{r_0}$ ہو گا لہٰذا درج ذیل ہو گا۔

$$\boldsymbol{r}(t) = (r_0 \cos \tfrac{vt}{r_0})\boldsymbol{i} + (r_0 \sin \tfrac{vt}{r_0})\boldsymbol{j}$$

۱۹۱۲۲ ب. سیارے کی اسراع معلوم کریں۔

۱۹۱۲۳ ج. نیوٹن کے قانون تجاذب کے تحت سیارہ پر قوت درج ذیل ہو گی جہاں G تجاذب کا عالمگیر مستقل ہے۔

$$\boldsymbol{F} = \Big(-\frac{GMm}{r_0^2}\Big)\frac{\boldsymbol{r}}{r_0}$$

۱۹۱۲۴ نیوٹن کے دوسرے قانون سے $\boldsymbol{F} = m\boldsymbol{a}$ ہو گا جس سے $v^2 = \frac{GM}{r_0}$ حاصل کریں۔

۱۹۱۲۵ د. دکھائیں کہ T مساوات $vT = 2\pi r_0$ کو مطمئن کرتا ہے۔

۱۹۱۲۶ ھ. جزو-ج اور جزو-د سے درج ذیل حاصل کریں جو دوری عرصہ کا مربع ہے۔

$$T^2 = \frac{4\pi^2}{GM} r_0^3$$

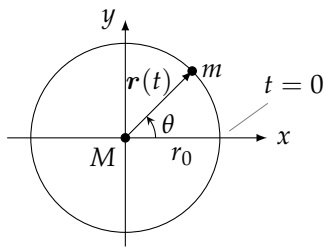

۱۹۱۲۷

۱۹۱۲۸ سوال ۱۲.۴۵: فرض کریں $\boldsymbol{v}$ متغیر t کا قابل تفرق سمتی تفاعل ہے۔ دکھائیں کہ اگر $\boldsymbol{v} \cdot \frac{\mathrm{d}\boldsymbol{v}}{\mathrm{d}t} = 0$ ہو تب $|\boldsymbol{v}|$ ایک مستقل ہو گا۔

۱۹۱۲۹ سوال ۱۲.۴۶: غیر سمتی سہ ضرب کا تفرق

۱۹۱۳۰

۱۹۱۳۱ ا. دکھائیں کہ اگر $\boldsymbol{u}$ ، $\boldsymbol{v}$ اور $\boldsymbol{w}$ قابل تفرق سمتی تفاعل ہوں تب درج ذیل ہو گا۔

$$\frac{\mathrm{d}}{\mathrm{d}t}(\boldsymbol{u} \cdot \boldsymbol{v} \times \boldsymbol{w}) = \frac{\mathrm{d}\boldsymbol{u}}{\mathrm{d}t} \cdot \boldsymbol{v} \times \boldsymbol{w} + \boldsymbol{u} \cdot \frac{\mathrm{d}\boldsymbol{v}}{\mathrm{d}t} \times \boldsymbol{w} + \boldsymbol{u} \cdot \boldsymbol{v} \times \frac{\mathrm{d}\boldsymbol{w}}{\mathrm{d}t} \tag{۴}$$

۱۹۱۳۲ ب. دکھائیں مساوات ۴ درج ذیل کا معادل ہے۔

(۵)

$$\frac{\mathrm{d}}{\mathrm{d}t}\begin{vmatrix} u_1 & u_2 & u_3 \\ v_1 & v_2 & v_3 \\ w_1 & w_2 & w_3 \end{vmatrix} = \begin{vmatrix} \frac{\mathrm{d}u_1}{\mathrm{d}t} & \frac{\mathrm{d}u_2}{\mathrm{d}t} & \frac{\mathrm{d}u_3}{\mathrm{d}t} \\ v_1 & v_2 & v_3 \\ w_1 & w_2 & w_3 \end{vmatrix} + \begin{vmatrix} u_1 & u_2 & u_3 \\ \frac{\mathrm{d}v_1}{\mathrm{d}t} & \frac{\mathrm{d}v_2}{\mathrm{d}t} & \frac{\mathrm{d}v_3}{\mathrm{d}t} \\ w_1 & w_2 & w_3 \end{vmatrix} + \begin{vmatrix} u_1 & u_2 & u_3 \\ v_1 & v_2 & v_3 \\ \frac{\mathrm{d}w_1}{\mathrm{d}t} & \frac{\mathrm{d}w_2}{\mathrm{d}t} & \frac{\mathrm{d}w_3}{\mathrm{d}t} \end{vmatrix}$$

مساوات ۵ کہتی ہے 3 ضرب 3 قابل تفرق مقطع کا تفرق ان تین مقطع کا مجموعہ ہوگا جو ایک وقت میں ایک صف کا تفرق لے کر حاصل کیے گئے ہوں۔ اس نتیجہ کو بلند رتبی مقطع تک وسعت دی جا سکتی ہے۔

سوال ۱۲.۴۷: فرض کریں $\boldsymbol{r}(t) = f(t)\boldsymbol{i} + g(t)\boldsymbol{j} + h(t)\boldsymbol{k}$ ہو جہاں f ، g اور h قابل تین رتبی تفرق ہوں۔ مساوات ۴ یا مساوات ۵ استعمال کرتے ہوئے درج ذیل دکھائیں۔

$$\frac{\mathrm{d}}{\mathrm{d}t}\left(\boldsymbol{r}\cdot\frac{\mathrm{d}\boldsymbol{r}}{\mathrm{d}t}\times\frac{\mathrm{d}^2\boldsymbol{r}}{\mathrm{d}t^2}\right) = \boldsymbol{r}\cdot\left(\frac{\mathrm{d}\boldsymbol{r}}{\mathrm{d}t}\times\frac{\mathrm{d}^3\boldsymbol{r}}{\mathrm{d}t^3}\right) \tag{۶}$$

(اشارہ: بائیں ہاتھ تفرق لے کر ان سمتیات کی نشاندہی کریں جن کے حاصل ضرب صفر ہو۔)

سوال ۱۲.۴۸: قاعدہ مستقل تفاعل

دکھائیں کہ اگر $\boldsymbol{u}$ ایک ایسا سمتی تفاعل ہو جس کی قیمت مستقل $\boldsymbol{C}$ ہو تب $\frac{\mathrm{d}\boldsymbol{u}}{\mathrm{d}t} = \boldsymbol{0}$ ہوگا۔

سوال ۱۲.۴۹: قواعد غیر سمتی ضرب

ا. دکھائیں اگر $\boldsymbol{u}$ متغیر t کا قابل تفرق تفاعل ہو اور c کوئی حقیقی عدد ہو تب درج ذیل ہوگا۔

$$\frac{\mathrm{d}(c\boldsymbol{u})}{\mathrm{d}t} = c\frac{\mathrm{d}\boldsymbol{u}}{\mathrm{d}t}$$

ب. ثابت کریں کہ اگر t کا $\boldsymbol{u}$ قابل تفرق تفاعل ہو اور t کا f قابل تفرق غیر سمتی تفاعل ہو تب درج ذیل ہوگا۔

$$\frac{\mathrm{d}}{\mathrm{d}t}(f\boldsymbol{u}) = \frac{\mathrm{d}f}{\mathrm{d}t}\boldsymbol{u} + f\frac{\mathrm{d}\boldsymbol{u}}{\mathrm{d}t}$$

سوال ۱۲.۵۰: قواعد مجموعہ اور فرق

ثابت کریں کہ اگر $\boldsymbol{u}$ اور $\boldsymbol{v}$ متغیر t کے قابل تفرق تفاعل ہوں تب درج ذیل ہوں گے۔

$$\frac{\mathrm{d}}{\mathrm{d}t}(\boldsymbol{u}+\boldsymbol{v}) = \frac{\mathrm{d}\boldsymbol{u}}{\mathrm{d}t} + \frac{\mathrm{d}\boldsymbol{v}}{\mathrm{d}t}$$
$$\frac{\mathrm{d}}{\mathrm{d}t}(\boldsymbol{u}-\boldsymbol{v}) = \frac{\mathrm{d}\boldsymbol{u}}{\mathrm{d}t} - \frac{\mathrm{d}\boldsymbol{v}}{\mathrm{d}t}$$

سوال ۱۲.۵۱: ایک نقطہ پر استمرار کا پرکھ اجزاء

دکھائیں کہ سمتی تفاعل $\boldsymbol{r}$ جس کو قاعدہ $\boldsymbol{r}(t) = f(t)\boldsymbol{i} + g(t)\boldsymbol{j} + h(t)\boldsymbol{k}$ بیان کرتا ہو نقطہ t_0 پر تب استمراری ہوگا جب f ، g اور h اس نقطہ پر استمراری ہوں۔

سوال ۱۲.۵۲: سمتی تفاعل کے صلیبی ضرب کا حد

فرض کریں $\boldsymbol{r}_1(t) = f_1(t)\boldsymbol{i} + f_2(t)\boldsymbol{j} + f_3(t)\boldsymbol{k}$ ، $\boldsymbol{r}_2(t) = g_1(t)\boldsymbol{i} + g_2(t)\boldsymbol{j} + g_3(t)\boldsymbol{k}$ ، $\lim_{t\to t_0}\boldsymbol{r}_1(t) = \boldsymbol{A}$ اور $\lim_{t\to t_0}\boldsymbol{r}_2(t) = \boldsymbol{B}$ ہیں۔ صلیبی ضرب کا کلیہ مقطع اور غیر سمتی تفاعل کے لئے قاعدہ حد حاصل ضرب استعمال کرتے ہوئے درج ذیل دکھائیں۔

$$\lim_{t\to t_0}(\boldsymbol{r}_1(t)\times\boldsymbol{r}_2(t)) = \boldsymbol{A}\times\boldsymbol{B}$$

سوال ۱۲.۵۳: قابل تفرق سمتی تفاعل استراری ہوتے ہیں۔

دکھائیں کہ اگر $t = t_0$ پر $\boldsymbol{r}(t) = f(t)\boldsymbol{i} + g(t)\boldsymbol{j} + h(t)\boldsymbol{k}$ قابل تفرق ہو تب t_0 پر یہ استراری بھی ہوگا۔

سوال ۱۲.۵۴: قابل تکمل سمتی تفاعل کے درج ذیل خواص کی تصدیق کریں۔

ا. قاعدہ مستقل غیر سمتی مضرب:

$$\int_a^b k\boldsymbol{r}(t)\,\mathrm{d}t = k\int_a^b \boldsymbol{r}(t)\,\mathrm{d}t \qquad k \text{ کوئی مستقل ہے}$$

نفی کا قاعدہ $k = -1$ لے کر حاصل ہوگا:

$$\int_a^b (-\boldsymbol{r}(t))\,\mathrm{d}t = -\int_a^b \boldsymbol{r}(t)\,\mathrm{d}t$$

ب. قواعد مجموعہ اور فرق:

$$\int_a^b (\boldsymbol{r}_1(t) \mp \boldsymbol{r}_2(t))\,\mathrm{d}t = \int_a^b \boldsymbol{r}_1(t)\,\mathrm{d}t \mp \int_a^b \boldsymbol{r}_2(t)\,\mathrm{d}t$$

ج. قاعدہ مستقل سمتیہ مضرب:

$$\int_a^b \boldsymbol{C}\cdot\boldsymbol{r}(t)\,\mathrm{d}t = \boldsymbol{C}\cdot\int_a^b \boldsymbol{r}(t)\,\mathrm{d}t \qquad \boldsymbol{C} \text{ کوئی سمتی مستقل ہے}$$

اور

$$\int_a^b \boldsymbol{C}\times\boldsymbol{r}(t)\,\mathrm{d}t = \boldsymbol{C}\times\int_a^b \boldsymbol{r}(t)\,\mathrm{d}t \qquad \boldsymbol{C} \text{ کوئی سمتی مستقل ہے}$$

سوال ۱۲.۵۵: غیر سمتی اور سمتی تفاعل کے حاصل ضرب

فرض کریں وقفہ $a \le t \le b$ پر غیر سمتی تفاعل $u(t)$ اور سمتی تفاعل $\boldsymbol{r}(t)$ معین ہیں۔

ا. دکھائیں کہ $[a,b]$ پر $u\boldsymbol{r}$ تب استراری ہوگا جب $[a,b]$ پر u اور $\boldsymbol{r}$ استراری ہوں۔

ب. اگر غیر سمتی تفاعل u اور سمتی تفاعل $\boldsymbol{r}$ دونوں $[a,b]$ پر قابل تفرق ہوں تب دکھائیں کہ $[a,b]$ پر $u\boldsymbol{r}$ قابل تفرق ہوگا اور مزید درج ذیل بھی ہوگا۔

$$\frac{\mathrm{d}}{\mathrm{d}t}(u\boldsymbol{r}) = u\frac{\mathrm{d}\boldsymbol{r}}{\mathrm{d}t} + \boldsymbol{r}\frac{\mathrm{d}u}{\mathrm{d}t}$$

سوال ۱۲.۵۶: سمتی تفاعل کے الٹ تفرقات

ا. غیر سمتی تفاعل کے مسئلہ اوسط قیمت کا ضمنی نتیجہ 2 استعمال کرتے ہوئے دکھائیں کہ اگر وقفہ I پر دو سمتی تفاعل $\boldsymbol{R}_1(t)$ اور $\boldsymbol{R}_2(t)$ کے تفرقات متماثل ہوں تب پورے I پر ان تفاعل میں صرف ایک مستقل سمتی قیمت کا فرق ہوگا۔

ب. جزو-ا کا نتیجہ استعمال کرتے ہوئے دکھائیں کہ اگر I پر $\boldsymbol{r}(t)$ کا الٹ تفرق $\boldsymbol{R}(t)$ ہو تب I پر $\boldsymbol{r}$ کا ہر الٹ تفرق $\boldsymbol{R}(t) + \boldsymbol{C}$ کے برابر ہوگا جہاں $\boldsymbol{C}$ کوئی مستقل سمتیہ ہوگا۔

سوال ۱۲.۵۷: احصاء کا بنیادی مسئلہ

احصاء کا بنیادی مسئلہ برائے حقیقی متغیر کا غیر سمتی تفاعل، حقیقی متغیر کے سمتی تفاعل کے لئے بھی کارآمد ہوگا۔ یہ ثابت کرنے کی خاطر غیر سمتی تفاعل کے لئے اس مسئلہ کو استعمال کر کے پہلے دکھائیں کہ اگر $a \le t \le b$ پر سمتی تفاعل $\boldsymbol{r}(t)$ استمراری ہو تب $[a, b]$ پر ہر نقطہ t کے لئے درج ذیل ہوگا۔

$$\frac{\mathrm{d}}{\mathrm{d}t}\int_a^t \boldsymbol{r}(t)\,\mathrm{d}\tau = \boldsymbol{r}(t)$$

اس کے بعد سوال ۱۲.۵۶ کے جزو-ب کا نتیجہ استعمال کر کے دکھائیں کہ اگر $[a, b]$ پر $\boldsymbol{r}(t)$ کا $\boldsymbol{R}$ کوئی الٹ تفرق ہو تب درج ذیل ہوگا۔

$$\int_a^b \boldsymbol{r}(t)\,\mathrm{d}t = \boldsymbol{R}(b) - \boldsymbol{R}(a)$$

کمپیوٹر کا استعمال

کمپیوٹر استعمال کرتے ہوئے سوال ۱۲.۵۸ تا سوال ۱۲.۶۱ میں درج ذیل اقدام کریں۔

ا. تعین گر سمتیہ $\boldsymbol{r}$ کی فضائی راہ کی منحنی ترسیم کریں۔

ب. سمتی رفتار سمتیہ $\frac{\mathrm{d}\boldsymbol{r}}{\mathrm{d}t}$ کے اجزاء تلاش کریں۔

ج. دیے گئے نقطہ t_0 پر سمتی رفتار $\frac{\mathrm{d}\boldsymbol{r}}{\mathrm{d}t}$ کی قیمت معلوم کر کے نقطہ $\boldsymbol{r}(t_0)$ پر مماسی خط کی مساوات تلاش کریں۔

د. دیے گئے وقفہ پر منحنی اور خط مماس ترسیم کریں۔

سوال ۱۲.۵۸: $\boldsymbol{r}(t) = (\sin t - t\cos t)\boldsymbol{i} + (\cos t + t\sin t)\boldsymbol{j} + t^2\boldsymbol{k}, \quad 0 \le t \le 6\pi,\ t_0 = \frac{3\pi}{2}$

سوال ۱۲.۵۹: $\boldsymbol{r}(t) = \sqrt{2}t\boldsymbol{i} + e^t\boldsymbol{j} + e^{-t}\boldsymbol{k}, \quad -2 \le t \le 3,\ t_0 = 1$

سوال ۱۲.۶۰: $\boldsymbol{r}(t) = (\sin 2t)\boldsymbol{i} + (\ln(1+t))\boldsymbol{j} + t\boldsymbol{k}, \quad 0 \le t \le 4\pi,\ t_0 = \frac{\pi}{4}$

سوال ۱۲.۶۱: $\boldsymbol{r}(t) = (\ln(t^2+2))\boldsymbol{i} + (\tan^{-1} 3t)\boldsymbol{j} + \sqrt{t^2+1}\boldsymbol{k}, \quad -3 \le t \le 5,\ t_0 = 3$

سوال ۱۲.۶۲ اور سوال ۱۲.۶۳ میں آپ a اور b کی قیمتیں تبدیل کرتے ہوئے پیچ دار منحنی

$$\boldsymbol{r}(t) = (\cos at)\boldsymbol{i} + (\sin at)\boldsymbol{j} + bt\boldsymbol{k}$$

کے رویہ پر غور کریں گے۔ کمپیوٹر کو استعمال کریں۔

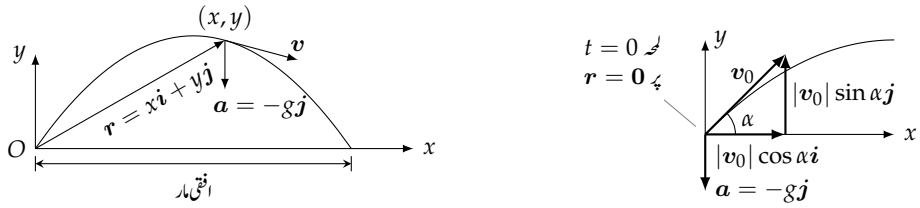

(ا) لمحہ $t = 0$ پر مقام، سمتی رفتار اور اسراع۔

(ب) کچھ دیر بعد لمحہ t پر مقام، سمتی رفتار اور اسراع۔

شکل ۱۲.۶: گولا کی مثالی پرواز۔

سوال ۱۲.۶۲: وقفہ $0 \leq t \leq 4\pi$ کے لئے نقطہ $t = \frac{3\pi}{2}$ پر پیچ دار منحنی اور اس کا مماسی خط، $b = 1$ اور $a = 1, 2, 4, 6$ لیتے ہوئے ترسیم کریں۔ اپنے الفاظ میں بتلائیں کہ a کی قیمت ان مثبت قیمتوں پر بڑھانے سے منحنی کی ترسیم اور مماسی خط کے مقام پر کیا اثر پیدا ہوتا ہے۔

سوال ۱۲.۶۳: وقفہ $0 \leq t \leq 4\pi$ کے لئے نقطہ $t = \frac{3\pi}{2}$ پر پیچ دار منحنی اور اس کا مماسی خط، $a = 1$ اور $b = 1/4, 1/2, 2, 4$ لیتے ہوئے ترسیم کریں۔ اپنے الفاظ میں بتلائیں کہ b کی قیمت ان مثبت قیمتوں پر بڑھانے سے منحنی کی ترسیم اور مماسی خط کے مقام پر کیا اثر پیدا ہوتا ہے۔

۱۲.۲ گولا کی حرکت کی نمونہ کشی

ایک گولا چلانے سے پہلے ہم جاننا چاہیں گے کہ آیا وہ حدف کو مار سکے گا (کیا حدف تک پہنچے گا)؟ یہ گولا کس بلندی تک پہنچے گا (کیا یہ پہاڑی کو پار کر پائے گا)؟ اور یہ حدف پر کتنی دیر میں پہنچے گا (نتائج کب حاصل ہوں گے)؟ یہ تمام معلومات گولے کی ابتدائی سمتیہ رفتار سے نیوٹن کے دوسرے قانون کی مدد سے حاصل کی جا سکتی ہیں۔

گولا کی حرکت کی مقدار معلوم مثالی مساوات

حرکت گولا کی مثالی مساوات حاصل کرتے ہوئے ہم فرض کرتے ہیں کہ یہ ایک ذرہ کی مانند مستوی میں حرکت کرتا ہے اور اس پر صرف مستقل قوت کشش سیدھا نیچے رخ عمل کرتی ہے۔ حقیقت میں یہ مفروضے درست نہیں ہیں۔ زمین گھومنے کی وجہ سے گولے کے نیچے زمین حرکت میں ہوتی ہے، ہوائی رگڑ جو گولے کی رفتار اور بلندی پر منحصر ہے گولا پر عمل کرتی ہے، اور قوت کشش ایک مستقل نہیں ہے بلکہ اس کی قیمت گولا کی بلندی پر منحصر ہے۔ اگرچہ ان تمام کے اثرات کو بھی دیکھنا ہوگا، ہم یہاں انہیں نظر انداز کرتے ہیں۔

ہم فرض کرتے ہیں کہ لمحہ $t = 0$ پر ابتدائی سمتیہ رفتار $\boldsymbol{v}_0$ کے ساتھ مبدا سے گولا ربع اول میں مارا جاتا ہے (شکل ۱۲.۶)۔ اگر افقی زمین کے ساتھ $\boldsymbol{v}_0$ کا زاویہ α ہو تب

$$\boldsymbol{v}_0 = (|\boldsymbol{v}_0| \cos\alpha)\boldsymbol{i} + (|\boldsymbol{v}_0| \sin\alpha)\boldsymbol{j} \tag{۱}$$

۱۹۲۰۷ ہوگا۔اس میں $|\boldsymbol{v}_0|$ کو سادہ علامت v_0 سے ظاہر کرتے ہوئے درج ذیل لکھا جا سکتا ہے۔

$$\boldsymbol{v}_0 = (v_0 \cos\alpha)\boldsymbol{i} + (v_0 \sin\alpha)\boldsymbol{j} \tag{۲}$$

۱۹۲۰۸ گولا کا ابتدائی مقام درج ذیل ہے۔

$$\boldsymbol{r}_0 = 0\boldsymbol{i} + 0\boldsymbol{j} = \boldsymbol{0} \tag{۳}$$

۱۹۲۰۹ نیوٹن کا دوسرا قانون برائے حرکت کے تحت کمیت ضرب اسراع یعنی $m\frac{\mathrm{d}^2\boldsymbol{r}}{\mathrm{d}t^2}$ عامل قوت کے برابر ہوگا جہاں لمحہ t پر گولے کا تعین گر سمتیہ $\boldsymbol{r}(t)$
۱۹۲۱۰ ہے۔اگر صرف قوت کشش $-mg\boldsymbol{j}$ عمل کرتی ہو تب

$$\frac{\mathrm{d}^2\boldsymbol{r}}{\mathrm{d}t^2} = -g\boldsymbol{j} \quad \text{یا} \quad m\frac{\mathrm{d}^2\boldsymbol{r}}{\mathrm{d}t^2} = -mg\boldsymbol{j} \tag{۴}$$

۱۹۲۱۱ ہوگا۔ہم درج ذیل ابتدائی قیمت مسئلہ حل کر کے متغیر t کا تفاعل $\boldsymbol{r}$ حاصل کرتے ہیں۔

$$\frac{\mathrm{d}^2\boldsymbol{r}}{\mathrm{d}t^2} = -g\boldsymbol{j} \qquad \text{تفرقی مساوات}$$

$$\boldsymbol{r} = \boldsymbol{r}_0,\ \frac{\mathrm{d}\boldsymbol{r}}{\mathrm{d}t} = \boldsymbol{v}_0 \quad \text{پر} \quad t = 0 \qquad \text{ابتدائی معلومات}$$

۱۹۲۱۲ پہلا تکمل

$$\frac{\mathrm{d}\boldsymbol{r}}{\mathrm{d}t} = -(gt)\boldsymbol{j} + \boldsymbol{v}_0$$

۱۹۲۱۳ دیگا۔دوسرا تکمل

$$\boldsymbol{r} = -\frac{1}{2}gt^2\boldsymbol{j} + \boldsymbol{v}_0 t + \boldsymbol{r}_0$$

۱۹۲۱۴ دیگا۔ہم مساوات ۲ اور مساوات ۳ سے $\boldsymbol{v}_0$ اور $\boldsymbol{r}_0$ کی قیمتیں پر کر کے

$$\boldsymbol{r} = -\frac{1}{2}gt^2\boldsymbol{j} + \underbrace{(v_0\cos\alpha)t\boldsymbol{i} + (v_0\sin\alpha)t\boldsymbol{j}}_{\boldsymbol{v}_0 t} + \boldsymbol{0}$$

۱۹۲۱۵ یعنی

$$\boldsymbol{r} = (v_0\cos\alpha)t\boldsymbol{i} + \left((v_0\sin\alpha)t - \frac{1}{2}gt^2\right)\boldsymbol{j} \tag{۵}$$

۱۹۲۱۶ حاصل کرتے ہیں۔

۱۹۲۱۷ مساوات ۵ گولے کی مثالی حرکت کی سمتی مساوات ہے۔ زاویہ α گولا **چلانے کا زاویہ** ہے جبکہ v_0 اس کی **ابتدائی رفتار** ہے۔

۱۹۲۱۸ مساوات ۵ درج ذیل دو غیر سمتی مساواتوں کے برابر ہے۔

$$x = (v_0 \cos\alpha)t, \quad y = (v_0 \sin\alpha)t - \frac{1}{2}gt^2 \tag{۶}$$

۱۹۲۱۹ انہیں گولا کی مثالی پرواز کی مقدار معلوم مساوات کہتے ہیں۔ اگر وقت کو سیکنڈوں میں اور فاصلہ کو میٹروں میں ناپا جائے تب $g = 9.8\,\mathrm{m\,s^{-2}}$ ہو گا اور
۱۹۲۲۰ مساوات ۶ میں x اور y میٹر میں ہوں گے۔

۱۹۲۲۱ مثال ۱۲.۹: افقی میدان میں مبدا سے ایک گولا $500\,\mathrm{m\,s^{-1}}$ کی رفتار سے 60° کے زاویہ پر داغا جاتا ہے۔ یہ گولا 10 سیکنڈ بعد کہاں ہو گا؟

۱۹۲۲۲ حل: ہم $v_0 = 500$ ، $\alpha = 60$ ، $g = 9.8$ لیتے ہوئے مساوات ۱۶ استعمال کر کے لمحہ $t = 10$ پر گولے کا مقام معلوم کرتے ہیں۔

$$\begin{aligned}
x &= (v_0 \cos\alpha)t = 500 \cdot \frac{1}{2} \cdot 10 = 2500\,\mathrm{m} \\
y &= (v_0 \sin\alpha)t - \frac{1}{2}gt^2 \\
&= 500 \cdot \frac{\sqrt{3}}{2} \cdot 10 - \frac{1}{2} \cdot 9.8 \cdot (10)^2 \\
&= 2500\sqrt{3} - 490 \\
&\approx 3840\,\mathrm{m}
\end{aligned}$$

۱۹۲۲۳ گولا چلانے کے دس سیکنڈ بعد 3840 میٹر کی بلندی پر حدف کی طرف 2500 میٹر دور ہو گا۔ □

۱۹۲۲۴ **بلندی، دورانیہ پرواز اور فاصلہ مار**

۱۹۲۲۵ ہم مساوات ۶ سے مثالی گولا کی پرواز کے بارے میں عموماً سوالات کے جوابات حاصل کر سکتے ہیں۔

۱۹۲۲۶ گولا اپنی بلند ترین مقام پر اس لمحہ پہنچتا ہے جب اس کی رفتار کا انتصابی حصہ صفر ہو:

$$t = \frac{v_0 \sin\alpha}{g} \quad \text{یعنی} \quad \frac{\mathrm{d}y}{\mathrm{d}t} = v_0 \sin\alpha - gt = 0$$

۱۹۲۲۷ اس لمحہ پر y کی قیمت درج ذیل ہو گی۔

$$y_{\text{بلند تر}} = (v_0 \sin\alpha)\left(\frac{v_0 \sin\alpha}{g}\right) - \frac{1}{2}g\left(\frac{v_0 \sin\alpha}{g}\right)^2 = \frac{(v_0 \sin\alpha)^2}{2g} \tag{۷}$$

۱۹۲۲۸ افقی میدان میں داغے گئے گولا کی پرواز کا دورانیہ جاننے کی خاطر ہم مساوات ۶ میں $y = 0$ پر کے t حاصل کرتے ہیں۔

$$(v_0 \sin\alpha)t - \frac{1}{2}gt^2 = 0$$
$$t\left(v_0 \sin\alpha - \frac{1}{2}gt\right) = 0$$
$$t = 0, \quad t = \frac{2v_0 \sin\alpha}{g} \tag{۸}$$

۱۹۲۲۹ چونکہ $t = 0$ وہ لمحہ ہے جب گولا داغا گیا لہٰذا $t = \frac{2v_0 \sin\alpha}{g}$ وہ لمحہ ہو گا جب گولا واپس زمین پر گرتا ہے۔

۱۹۲۳۰ گولے کی مار R جاننے کی خاطر ہم مبدا سے گولا گرنے کے مقام تک فاصلہ معلوم کرتے ہیں۔ ہم $t = \frac{2v_0 \sin\alpha}{g}$ پر x تلاش کرتے ہیں۔

$$x = (v_0 \cos\alpha)t$$
$$R = (v_0 \cos\alpha)\left(\frac{2v_0 \sin\alpha}{g}\right)$$
$$= \frac{v_0^2}{g}(2\sin\alpha\cos\alpha) = \frac{v_0^2}{g}\sin 2\alpha \tag{۹}$$

۱۹۲۳۱ زیادہ سے زیادہ فاصلہ مار $\sin 2\alpha = 1$ یعنی $\alpha = 45^\circ$ پر حاصل ہو گا۔

۱۹۲۳۲ مثال ۱۲.۱۰: افقی میدان میں مبدا سے ایک گولا $500\,\mathrm{m\,s^{-1}}$ کی رفتار سے 60° کے زاویہ پر چلایا جاتا ہے۔ گولا کی زیادہ سے زیادہ بلندی، دورانیہ
۱۹۲۳۳ پرواز اور فاصلہ مار تلاش کریں (مثال ۱۲.۹)۔

۱۹۲۳۴ حل:

$$y_{\text{بلند تر}} = \frac{(v_0 \sin\alpha)^2}{2g} \qquad \text{زیادہ سے زیادہ بلندی (مساوات ۷)}$$
$$= \frac{(500 \sin 60^\circ)^2}{2(9.8)} \approx 9566\,\mathrm{m}$$
$$t = \frac{2v_0 \sin\alpha}{g} \qquad \text{دورانیہ پرواز (مساوات ۸)}$$
$$= \frac{2(500)\sin 60^\circ}{9.8} \approx 88\,\mathrm{s}$$
$$R = \frac{v_0^2}{g}\sin 2\alpha \qquad \text{فاصلہ مار (مساوات ۹)}$$
$$= \frac{(500)^2 \sin 120^\circ}{9.8} \approx 22\,092\,\mathrm{m}$$

۱۹۲۳۵ □

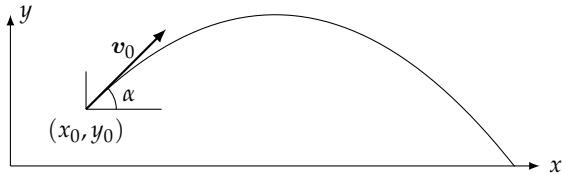

شکل ۱۲.۷: نقطہ (x_0, y_0) سے ابتدائی سمتی رفتار v_0 کے ساتھ مارے گئے گولا کی راہ۔

گولا کی مثالی پرواز قطع مکافی ہو گی

ہوائی رگڑ کو نظر انداز کرتے ہوئے ہم کہہ سکتے ہیں کہ مثالی پرواز، قطع مکافی راہ اپناتی ہے۔ مساوات ۶ کی ایک جزو سے $t = \frac{x}{v_0 \cos\alpha}$ حاصل کر کے دوسرے جزو میں پر کرتے ہوئے

$$y = -\left(\frac{g}{2v_0^2 \cos^2\alpha}\right)x^2 + (\tan\alpha)x$$

حاصل ہوتا ہے جس کی روپ $y = ax^2 + bx$ ہے جو ایک قطع مکافی کو ظاہر کرتی ہے۔

نقطہ (x_0, y_0) سے گولا چلانا

مبدا کے بجائے نقطہ (x_0, y_0) سے گولا چلانے سے مساوات ۶ کی جگہ درج ذیل مساوات حاصل ہوں گی (شکل ۱۲.۷) جنہیں آپ سوال ۱۲.۸۲ میں حاصل کریں گے۔

$$x = x_0 + (v_0 \cos\alpha)t, \quad y = y_0 + (v_0 \sin\alpha)t - \frac{1}{2}gt^2 \tag{۱۰}$$

مثال ۱۲.۱۱: ایک نشانہ باز 2 m بلندی سے 30 m دور درخت پر 20 m بلندی پر لگائی گئی نشانی کو تیر کا نشانہ بناتا ہے۔ تیر نشانہ پر عین اس لمحہ پہنچتا ہے جب اس کی بلندی زیادہ سے زیادہ ہو۔ (ا) ابتدائی رفتار v_0 اور زاویہ α کی صورت میں زیادہ سے زیادہ بلندی y بلند تر لکھیں۔ (ب) اگر y بلند تر $= 20\,\mathrm{m}$ ہو تب جزو-ا کے نتیجہ سے $v_0 \sin\alpha$ معلوم کریں۔ (ج) تیر 30 m افقی فاصلہ طے کر کے درخت تک پہنچتا ہے۔ اس حقیقت کو استعمال کرتے ہوئے $v_0 \cos\alpha$ کی قیمت معلوم کریں۔ (د) تیر کا ابتدائی زاویہ تلاش کریں۔

حل: (ا) ہم نشانہ باز کو مبدا پر تصور کرتے ہیں۔ یوں $t = 0$ پر $x_0 = 0$ اور $y_0 = 2$ ہو گا لہٰذا درج ذیل لکھا جا سکتا ہے۔

$$\begin{aligned} y &= y_0 + (v_0 \sin\alpha)t - \frac{1}{2}gt^2 && \text{مساوات ۱۰} \\ &= 2 + (v_0 \sin\alpha)t - \frac{1}{2}gt^2 && y_0 = 2 \end{aligned}$$

ہم $\frac{\mathrm{d}y}{\mathrm{d}t} = 0$ سے وہ لمحہ t تلاش کرتے ہیں جب تیر زیادہ سے زیادہ بلندی پر ہو گا:

$$t = \frac{v_0 \sin\alpha}{g}$$

۱۹۲۴۹ اس لمحہ پر y کی قیمت درج ذیل ہو گی۔

$$y_{\text{بلند تر}} = 2 + (v_0 \sin\alpha)\left(\frac{v_0 \sin\alpha}{g}\right) - \frac{1}{2}g\left(\frac{v_0 \sin\alpha}{g}\right)^2 = 2 + \frac{(v_0 \sin\alpha)^2}{2g}$$

۱۹۲۵۰ (ب) ہم مساوات ۱۰ میں $g = 9.8$ اور $y_{\text{بلند تر}} = 20$ پر کر کے جزو-ا سے

$$20 = 2 + \frac{(v_0 \sin\alpha)^2}{2(9.8)}$$

۱۹۲۵۱ یعنی

$$v_0 \sin\alpha = \sqrt{(18)(19.6)}$$

۱۹۲۵۲ (ج) ہم جزو-ا میں حاصل زیادہ سے زیادہ بلندی تک پہنچنے کے لئے درکار وقت t اور افقی فاصلہ $x = 30\,\text{m}$ مساوات ۱۰ میں پر کرتے ہیں۔

$x = x_0(\cos\alpha)t$	مساوات ۱۰
$30 = 0 + (v_0 \cos\alpha)t$	$x = 30,\ x_0 = 0$
$= (v_0 \cos\alpha)\left(\frac{v_0 \sin\alpha}{g}\right)$	$t = (v_0 \sin\alpha)/g$

۱۹۲۵۳ اس مساوات کو $v_0 \cos\alpha$ کے حل کر کے اس میں جزو-ب کا نتیجہ پر کر کے درج ذیل حاصل کرتے ہیں۔

$$v_0 \cos\alpha = \frac{30g}{v_0 \sin\alpha}$$

۱۹۲۵۴ (د) ہم جزو-ب اور جزو-ج سے

$$\tan\alpha = \frac{(18)(19.6)}{(30)(9.8)} \approx 0.876$$

۱۹۲۵۵ یعنی

$$\alpha \approx \tan^{-1}(0.876) = 50.2^\circ$$

۱۹۲۵۶ حاصل کرتے ہیں۔ □

۱۹۲۵۷ **سوالات**

۱۹۲۵۸ درج ذیل سوالات میں گولا کی حرکت کو مثالی تصور کیا جائے۔ تمام زاویات افقی میدان سے ناپے جائیں گے۔ جہاں اس کے برعکس ذکر نہ کیا گیا ہو، گولا کو مبدا
۱۹۲۵۹ سے افقی میدان میں چلایا جاتا ہے۔

سوال ۱۲.۶۴: ایک گولا 60° زاویہ پر $840\ \mathrm{m\,s^{-1}}$ رفتار سے داغا جاتا ہے۔ یہ ہدف کے رخ کتنی دیر میں $21\ \mathrm{km}$ فاصلہ طے کرے گا؟

سوال ۱۲.۶۵: ایک توپ کی زیادہ سے زیادہ فاصلہ مار $24.5\ \mathrm{km}$ ہے۔ اس کے نالی میں گولے کی رفتار معلوم کریں۔

سوال ۱۲.۶۶: ایک گولا 45° زاویہ پر $500\ \mathrm{m\,s^{-1}}$ رفتار سے داغا جاتا ہے۔ (ا) اس کا فاصلہ مار کتنا ہو گا؟ (ب) افقی رخ $5\ \mathrm{km}$ فاصلہ پر گولا کتنا بلند ہو گا؟ (ج) یہ گولا کتنی بلندی تک پہنچے گا؟

سوال ۱۲.۶۷: ایک گیند $10\ \mathrm{m}$ کی بلندی سے 30° زاویہ اور $10\ \mathrm{m\,s^{-1}}$ کی رفتار سے پھینکی جاتی ہے۔ یہ گیند کب اور کتنے فاصلہ پر زمین کو مس کرے گی؟

سوال ۱۲.۶۸: ایک کھلاڑی $7\ \mathrm{kg}$ کا گولا $2\ \mathrm{m}$ بلندی سے 45° زاویہ پر $13.4\ \mathrm{m\,s^{-1}}$ رفتار سے پھینکتا ہے۔ یہ گیند کتنی دیر بعد اور کتنے فاصلہ پر زمین پر گرے گی؟

سوال ۱۲.۶۹: اگر سوال ۱۲.۶۸ میں گیند 40° پر پھینکی جاتی تب یہ نسبتاً زیادہ دور گرتی۔ فاصلہ میں اضافہ کتنا ہو گا؟

سوال ۱۲.۷۰: ایک گیند کو 45° زاویہ پر پھینکا جاتا ہے۔ یہ $10\ \mathrm{m}$ فاصلہ پر گرتا ہے۔ اس کی ابتدائی رفتار تلاش کریں۔ کن دو زاویات پر پھینکنے سے اس گیند کا فاصلہ مار $6\ \mathrm{m}$ ہو گا؟

سوال ۱۲.۷۱: ٹیلی ویژن کے ٹیوب میں ایک الیکٹران $5 \times 10^6\ \mathrm{m\,s^{-1}}$ رفتار سے $40\ \mathrm{cm}$ دور ٹیلی ویژن کے شیشہ کے رخ افقی سمت خارج ہوتا ہے۔ یہ الیکٹران شیشہ پر لگنے سے پہلے کتنا نیچے گرتا ہے؟

سوال ۱۲.۷۲: تجربہ گاہ میں گالف گیند کو پرکھنے کے دوران 100 داب[۱۴] کی گیند کو $160\ \mathrm{km\,h^{-1}}$ رفتار پر چلتے ہوئے لاٹھ سے مار کر 9° زاویہ پر پھینکا جاتا ہے۔ یہ گیند $227\ \mathrm{m}$ دور گرتا ہے۔ گیند کی ابتدائی رفتار کتنی تھی؟

سوال ۱۲.۷۳: ایک تماش گاہ میں ایک مسخرہ کو انسانی توپ سے $25\ \mathrm{m\,s^{-1}}$ رفتار سے داغا جاتا ہے۔ توقع کی جاتی ہے کہ یہ $60\ \mathrm{m}$ دور نرم گدی پر جا گرے گا۔ یہ تماش گاہ ایک بڑے کمرہ میں منعقد ہوتا ہے جس کی چھت $23\ \mathrm{m}$ بلند ہے۔ کیا مسخرہ کو یوں داغا جا سکتا ہے کہ یہ چھت کو نہ لگے؟ اگر ایسا ممکن ہو تب توپ کا زاویہ کتنا ہونا چاہیے؟

سوال ۱۲.۷۴: ایک گالف گیند زمین سے 30° پر $35\ \mathrm{m\,s^{-1}}$ سے روانہ ہوتا ہے۔ کیا یہ $45\ \mathrm{m}$ میٹر دور $15.2\ \mathrm{m}$ اونچے درخت کو پار کر پائے گا؟

سوال ۱۲.۷۵: ایک گیند کو $15\ \mathrm{m}$ کی گہرائی سے 45° پر $40\ \mathrm{m\,s^{-1}}$ کی رفتار سے اچھال کر میدان میں پھینکا جاتا ہے۔ یہ گیند کتنا افقی فاصلہ طے کر کے زمین پر گرے گا؟

سوال ۱۲.۷۶: ایک گیند کو $2.5\ \mathrm{m}$ اونچائی سے 40° زاویہ سے نیچے میدان میں پھینکا جاتے ہے۔ یہ ٹھیک $65\ \mathrm{m}$ دور جا گرتا ہے۔ گیند کی ابتدائی رفتار کتنی تھی؟

سوال ۱۲.۷۷: کرکٹ کا کھلاڑی گیند کو $50\ \mathrm{cm}$ اونچائی سے 30° زاویہ پر مارتا ہے۔ یہ گیند $90\ \mathrm{m}$ دور $12\ \mathrm{m}$ اونچی دیوار کو پار کرتی ہے۔ گیند کی ابتدائی رفتار تلاش کریں۔

سوال ۱۲.۷۸: دکھائیں کہ زاویہ α اور زاویہ $90 - \alpha$ پر داغے گئے گولوں کا فاصلہ مار ایک دوسرے کے برابر ہے۔ (اگر ہوائی رگڑ کو شامل کیا جائے تب ایسا نہیں ہو گا۔)

---

[۱۴] 100compression

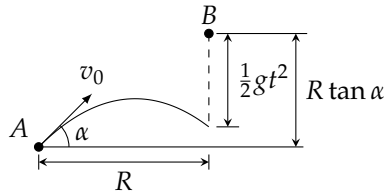

شکل ۱۲.۸: دو گیند (سوال ۱۲.۸۶)

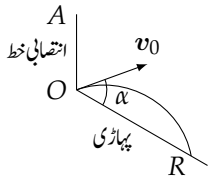

شکل ۱۲.۹: پہاڑی سے گیند پھینکا جاتا ہے (سوال ۱۲.۸۷)

سوال ۱۲.۷۹: ایک گولا کی ابتدائی رفتار $400\,\mathrm{m\,s^{-1}}$ ہے۔ اس کا نشانہ $16\,\mathrm{km}$ دور ایک مورچا ہے۔ گولے کی ابتدائی دو ایسے زاویات تلاش کریں جن پر یہ نشانہ کو مار پائے گا۔

سوال ۱۲.۸۰: دکھائیں کہ ابتدائی زاویہ تبدیل کیے بغیر ایک گولا کی ابتدائی رفتار دگنی کرنے سے اس کا فاصلہ مار 4 گنّا ہو گا۔ گولے کی زیادہ سے زیادہ اونچائی اور فاصلہ مار دگنی کرنے کے لئے اس کی ابتدائی رفتار کتنے فی صد بڑھانی ہو گی؟

سوال ۱۲.۸۱: دکھائیں کہ زیادہ سے زیادہ بلندی تک پہنچنے کے لئے درکار وقت کے نصف وقت میں گولا اس اونچائی کے $\frac{3}{4}$ تک پہنچ پاتا ہے۔

سوال ۱۲.۸۲: ابتدائی قیمت مسئلہ

تفرقی مساوات
$$\frac{\mathrm{d}^2\boldsymbol{r}}{\mathrm{d}t^2} = -g\boldsymbol{j}$$

ابتدائی معلومات
$$\boldsymbol{r} = x_0\boldsymbol{i} + y_0\boldsymbol{j}$$
$$\frac{\mathrm{d}\boldsymbol{r}}{\mathrm{d}t} = (v_0\cos\alpha)\boldsymbol{i} + (v_0\sin\alpha)\boldsymbol{j} \quad t = 0$$

کو مستوی میں سمتیہ $\boldsymbol{r}$ کے لئے حل کرتے ہوئے مساوات ۱۰ حاصل کریں۔

سوال ۱۲.۸۳: ابتدائی زاویہ $\alpha = 50.2^\circ$ لیتے ہوئے مثال ۱۲.۱۱ میں تیر کی ابتدائی رفتار تلاش کریں۔

سوال ۱۲.۸۴: مثال ۱۲.۱۱ میں تیر کب نشانہ سے $2\,\mathrm{m}$ کے افقی فاصلہ پر ہو گا؟ اس لمحہ یہ کتنا بلند ہو گا؟

سوال ۱۲.۸۵: ایک گیند کو $5\,\mathrm{m}$ کی بلندی سے سیدھا اوپر پھینکا جاتا ہے۔ یہ کتنی دیر بعد زمین پر گرے گا؟

سوال ۱۲.۸۶: گیند A کو α زاویہ پر v_0 ابتدائی رفتار سے پھینکا جاتا ہے۔ اسی لمحہ R افقی فاصلہ دور $R\tan\alpha$ اونچائی سے گیند B کو گرنے دیا جاتا ہے (شکل ۱۲.۸)۔ یہ دیکھا گیا ہے کہ یہ دونوں گیند کسی بھی v_0 کے لئے ایک دوسرے کو ٹکراتے ہیں۔ کیا یہ اتفاق ہے یا ایسا ہونا لازم ہے؟ جواب پیش کریں۔

سوال ۱۲.۸۷: ایک گیند کو پہاڑی سے نیچے پھینکا جاتا ہے (شکل ۱۲.۹)۔ (ا) دکھائیں کہ زیادہ سے زیادہ فاصلہ طے کرنے کے لئے ابتدائی سمتی رفتار، زاویہ AOR کو نصف میں قطع کرتا ہو۔ (ب) اگر گیند کو پہاڑی پر اوپر پھینکا جائے تب زیادہ سے زیادہ فاصلہ طے کرنے کے لئے ابتدائی زاویہ کیا ہونا چاہیے؟

سوال ۱۲.۸۸: مبدا سے لمحہ $t = 0$ پر $\boldsymbol{v}_0$ سمتی رفتار سے ایک مثالی گولا کو داغا جاتا ہے۔ قوت کشش کی وجہ سے اس گولا کی نیچے رخ اسراع $\boldsymbol{a} = -g\boldsymbol{k}$ ہو گی۔ لمحہ پر گولے کی سمتی رفتار اور مقام تلاش کریں۔

سوال ۱۲.۸۹: رفتار کی راست متناسب ہوائی مزاحمت

ایک گولا جس کی کمیت m اور ابتدائی رفتار $\boldsymbol{v}_0$ کو رفتار کی راست متناسب ہوائی مزاحمت کا سامنا ہے۔ گولے پر کل قوت $m\frac{\mathrm{d}^2\boldsymbol{r}}{\mathrm{d}t^2}$ درج ذیل مساوات کو مطمئن کرے گا جہاں k تناسبی مستقل ہے۔

$$m\frac{\mathrm{d}^2\boldsymbol{r}}{\mathrm{d}t^2} = -mg\boldsymbol{j} - k\frac{\mathrm{d}\boldsymbol{r}}{\mathrm{d}t}$$

دکھائیں کہ اس کا پہلا مکمل درج ذیل دے گا۔

$$\frac{\mathrm{d}\boldsymbol{r}}{\mathrm{d}t} + \frac{k}{m}\boldsymbol{r} = \boldsymbol{v}_0 - gt\boldsymbol{j}$$

اس مساوات کو حل کریں۔ ایسا کرنے کی خاطر مساوات کے دونوں اطراف کو $e^{(k/m)t}$ سے ضرب دیں۔ بایاں ہاتھ اب ایک تفاعل کا تفرق ہو گا لہٰذا دونوں اطراف قابل مکمل ہوں گے۔ اب دوسرا مکمل لیں۔ تفاعل $e^{(k/m)t}$ کو اس تفرقی مساوات کا جزو مکمل کہتے ہیں۔

سوال ۱۲.۹۰: ایک گولا کو زمین سے α زاویہ پر v_0 رفتار سے داغا جاتا ہے۔ زاویہ α کو متغیر اور v_0 کو مستقل تصور کریں۔ ہر $\alpha,\ 0 \leq \alpha \leq \pi/2$ کے لئے ہمیں قطع مکافی راہ ملی ہے۔ دکھائیں کہ مستوی میں زیادہ سے زیادہ اونچائی کے تمام نقطے درج ذیل ترخیم پر پائے جاتے ہیں جہاں $x \geq 0$ ہے۔

$$x^2 + 4\left(y - \frac{v_0^2}{4g}\right)^2 = \frac{v_0^4}{4g^2}$$

۱۲.۳ لمبائی قوس اور اکائی مماسی سمتیہ $\boldsymbol{T}$

قابل تفرق منحنیات جن کا پہلا اور دوسرا استمراری تفرق پایا جاتا ہو خلاء میں حرکت کو ظاہر کرنے کے لئے اہم ہیں۔ ان پر تفصیلاً غور کیا گیا ہے۔ اس حصہ میں اور اگلے حصہ میں ہم ان کے چند ایسے خدوخال پر غور کریں گے جن کی وجہ سے ایسی منحنیات اہم ہیں۔

منحنی پر لمبائی قوس

ہموار فضائی منحنیات کی ایک خاص خاصیت یہ ہے کہ ان کی لمبائی قابل ناپ ہوتی ہے۔ یوں ہم منحنی پر کسی نقطہ کو بنیاد تصور کرتے ہوئے، بنیاد سے کسی بھی نقطہ N تک منحنی پر فاصلہ s، سے نقطہ N کی نشاندہی کر سکتے ہیں (شکل ۱۲.۱۰)۔ یہ محددی مستوی پر مبدا سے نقطہ کا فاصلہ دینے کے مترادف ہے۔ متحرک جسم کی سمتی رفتار اور اسراع پر غور کے لئے وقت ایک فطری متغیر ہے جبکہ s منحنی کی صورت پر غور کرنے کے لئے ایک فطری متغیر ہے۔ فضا میں حرکت پر غور کے دوران ان دونوں متغیرات کی ضرورت پیش آتی ہے۔

فضا میں ہموار منحنی پر فاصلہ ناپنے کی خاطر ہم مستوی میں منحنی کے کلیہ میں جزو z شامل کرتے ہیں۔

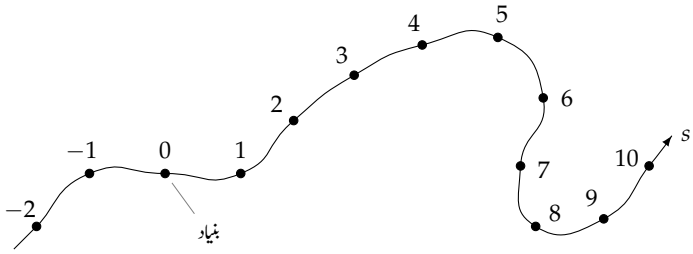

شکل ۱۲.۱۰: ہموار منحنی پر بنیادی نقطہ سے فاصلہ کو پیمانہ تصور کیا جا سکتا ہے۔

۱۹۳۲۵ تعریف: ہموار منحنی $\boldsymbol{r}(t) = f(t)\boldsymbol{i} + g(t)\boldsymbol{j} + h(t)\boldsymbol{k},\ a \le t \le b$ جس پر $t = a$ تا $t = b$ صرف ایک بار چلا
۱۹۳۲۶ جاتا ہو، کی لمبائی درج ذیل ہو گی۔

$$\begin{aligned} L &= \int_a^b \sqrt{\left(\frac{\mathrm{d}f}{\mathrm{d}t}\right)^2 + \left(\frac{\mathrm{d}g}{\mathrm{d}t}\right)^2 + \left(\frac{\mathrm{d}h}{\mathrm{d}t}\right)^2}\,\mathrm{d}t \\ &= \int_a^b \sqrt{\left(\frac{\mathrm{d}x}{\mathrm{d}t}\right)^2 + \left(\frac{\mathrm{d}y}{\mathrm{d}t}\right)^2 + \left(\frac{\mathrm{d}z}{\mathrm{d}t}\right)^2}\,\mathrm{d}t \end{aligned} \tag{۱}$$

۱۹۳۲۷ □

۱۹۳۲۸ مستوی منحنیات کی طرح، ہم فضا میں منحنی کی لمبائی معلوم کرتے ہوئے منحنی کی کوئی بھی مقدار معلوم مساوات، جو دیے گئے شرائط کو پورا کرتے ہوں، استعمال
۱۹۳۲۹ کر سکتے ہیں۔ اس کا ثبوت پیش نہیں کیا جائے گا۔

۱۹۳۳۰ مساوات ۱ میں جذر، سمتی رفتار سمتیہ $\frac{\mathrm{d}\boldsymbol{r}}{\mathrm{d}t}$ کی لمبائی $|\boldsymbol{v}|$ ہے۔ یوں لمبائی قوس کا کلیہ مختصراً

$$L = \int_a^b |\boldsymbol{v}|\,\mathrm{d}t \tag{۲}$$

۱۹۳۳۱ لکھا جا سکتا ہے۔

۱۹۳۳۲ مثال ۱۲.۱۲: درج ذیل پیچ دار منحنی کے ایک چکر کی لمبائی تلاش کریں۔

$$\boldsymbol{r}(t) = (\cos t)\boldsymbol{i} + (\sin t)\boldsymbol{j} + t\boldsymbol{k}$$

۱۹۳۳۳ حل: پیچ دار منحنی $t = 0$ سے $t = 2\pi$ تک ایک چکر مکمل کرتی ہے (شکل ۱۲.۱۱)۔ اس حصہ کی لمبائی

$$\begin{aligned} L &= \int_a^b |\boldsymbol{v}|\,\mathrm{d}t = \int_0^{2\pi} \sqrt{(-\sin t)^2 + (\cos t)^2 + (1)^2}\,\mathrm{d}t \\ &= \int_0^{2\pi} \sqrt{2}\,\mathrm{d}t = 2\pi\sqrt{2} \end{aligned}$$

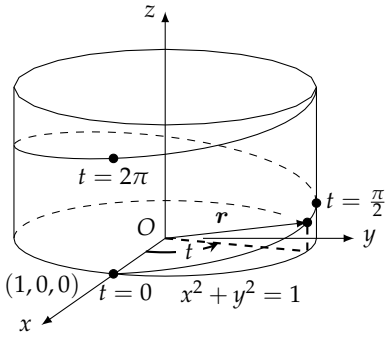

شکل ۱۲.۱۱: پیچ دار منحنی برائے مثال ۱۲.۱۲

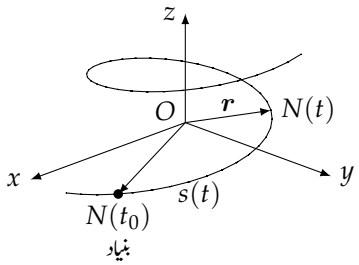

شکل ۱۲.۱۲: منحنی پر بنیاد $N(t_0)$ سے کسی نقطہ $N(t)$ تک فاصلہ $s(t) = \int_{t_0}^{t} \left|\boldsymbol{v}(\tau)\right| \mathrm{d}\tau$ ہوگا۔

۱۹۳۳۴ ہوگی جو مستوی xy میں اس دائرہ کے لمبائی کا $\sqrt{2}$ گنّا ہے جس پر پیچ دار منحنی کھڑی ہے۔ □

۱۹۳۳۵ اگر ہم ہموار منحنی C ، جس کی مقدار معلوم مساوات کا متغیر t ہو، پر نقطہ N_0 کو بنیادی نقطہ تصور کریں تب t کی ہر قیمت C پر ایک نقطہ $N(t) =$
۱۹۳۳۶ $(x(t), y(t), z(t))$ اور **سمتی بند فاصلہ**

$$s(t) = \int_{t_0}^{t} \left|\boldsymbol{v}(\tau)\right| \mathrm{d}\tau \tag{۳}$$

۱۹۳۳۷ دے گی جو N_0 سے C پر چلتے ہوئے ناپا جائے گا (شکل ۱۲.۱۲)۔ اگر $t > t_0$ ہو تب $N(t_0)$ سے $N(t)$ تک فاصلہ $s(t)$ ہوگا۔ اگر
۱۹۳۳۸ $t < t_0$ ہو تب $s(t)$ ، فاصلہ کے نفی کا برابر ہوگا۔ کی ہر ایک قیمت پر ایک نقطہ تعین کرتی ہے لہٰذا یوں s کے لحاظ سے C کی مقدار معلوم روپ
۱۹۳۳۹ حاصل ہوتی ہے۔ ہم کو منحنی کا **مقدار معلوم لمبائی قوس** کہتے ہیں جس کی قیمت بڑھتے t کے رخ بڑھتی ہے۔

۱۹۳۴۰ **بنیاد $N(t_0)$ لیتے ہوئے مقدار معلوم لمبائی قوس**

$$s(t) = \int_{t_0}^{t} \sqrt{[x'(\tau)]^2 + [y'(\tau)]^2 + [z'(\tau)]^2}\, \mathrm{d}\tau = \int_{t_0}^{t} \left|\boldsymbol{v}(\tau)\right| \mathrm{d}\tau \tag{۴}$$

۱۹۳۴۱ مثال ۱۲.۱۳: اگر $t_0 = 0$ ہو تب پیچ دار منحنی

$$\boldsymbol{r}(t) = (\cos t)\boldsymbol{i} + (\sin t)\boldsymbol{j} + t\boldsymbol{k}$$

۱۹۳۴۲ پر t_0 سے t تک چلتے ہوئے مقدار معلوم لمبائی قوس درج ذیل ہو گی۔

$$\begin{aligned} s(t) &= \int_{t_0}^{t} \left|\boldsymbol{v}(\tau)\right| \mathrm{d}\tau && \text{مساوات ۴} \\ &= \int_{0}^{t} \sqrt{2}\, \mathrm{d}\tau && \text{مساوات ۱۲.۱۲ کی قیمتیں} \\ &= \sqrt{2}t \end{aligned}$$

۱۹۳۴۳ یوں $s(2\pi) = 2\pi\sqrt{2}$ ، $s(-2\pi) = -2\pi\sqrt{2}$ ، وغیرہ، ہوں گے۔ □

۱۹۳۴۴ مثال ۱۲.۱۴: ایک لکیر پر لمبائی

۱۹۳۴۵ دکھائیں اگر $\boldsymbol{u} = u_1\boldsymbol{i} + u_2\boldsymbol{j} + u_3\boldsymbol{k}$ اکائی سمتیہ ہو، تب لکیر

$$\boldsymbol{r}(t) = (x_0 + tu_1)\boldsymbol{i} + (y_0 + tu_2)\boldsymbol{j} + (z_0 + tu_3)\boldsymbol{k}$$

۱۹۳۴۶ پر، نقطہ $N_0(x_0, y_0, z_0)$ جہاں $t = 0$ ہو گا، سے سمت بند لمبائی از خود t کے برابر ہو گی۔

۱۹۳۴۷ حل:

$$\boldsymbol{v} = \frac{\mathrm{d}}{\mathrm{d}t}(x_0 + tu_1)\boldsymbol{i} + \frac{\mathrm{d}}{\mathrm{d}t}(y_0 + tu_2)\boldsymbol{j} + \frac{\mathrm{d}}{\mathrm{d}t}(z_0 + tu_3)\boldsymbol{k} = u_1\boldsymbol{i} + u_2\boldsymbol{j} + u_3\boldsymbol{k}$$

۱۹۳۴۸ سے درج ذیل حاصل ہو گا۔

$$s(t) = \int_0^t |\boldsymbol{v}|\, \mathrm{d}\tau = \int_0^t |\boldsymbol{u}|\, \mathrm{d}\tau = \int_0^t 1\, \mathrm{d}\tau = t$$

۱۹۳۴۹ □

۱۹۳۵۰ ہموار منحنی پر رفتار

۱۹۳۵۱ چونکہ مساوات ۴ میں جذر کے اندر تفرقات استمراری (ہموار منحنی) ہیں احصاء کے بنیادی مسئلہ کے تحت s متغیر t کا قابل تفرق تفاعل ہو گا اور یہ تفرق درج
۱۹۳۵۲ ذیل ہو گا۔

$$\frac{\mathrm{d}s}{\mathrm{d}t} = \left|\boldsymbol{v}(t)\right| \tag{۵}$$

۱۹۳۵۳ جیسا ہم توقع کریں گے، کسی بھی راہ پر ایک ذرے کی رفتار $\boldsymbol{v}$ کی مقدار ہوتی ہے۔

۱۹۳۵۴ دھیان رہے کہ اگرچہ s تعین کرنے میں بنیادی نقطہ $N(t_0)$ کا کردار پایا جاتا ہے، $N(t_0)$ کا مساوات ۵ میں کوئی کردار نہیں پایا جاتا۔ ایک راہ پر چلتے
۱۹۳۵۵ ہوئے جس رفتار سے ایک ذرہ فاصلہ طے کرتا ہے، اس کا بنیادی نقطہ کے ساتھ کوئی تعلق نہیں پایا جاتا ہے۔

۱۹۳۵۶ ساتھ ہی اس بات کو ذہن نشین کریں کہ چونکہ تعریف کی رو سے ہموار منحنی کے لئے $|\boldsymbol{v}|$ غیر صفر ہے لہٰذا $\frac{\mathrm{d}s}{\mathrm{d}t} > 0$ ہو گا۔ ہم ایک بار دوبارہ دیکھتے ہیں کہ
۱۹۳۵۷ s متغیر t کا بڑھتا تفاعل ہے۔

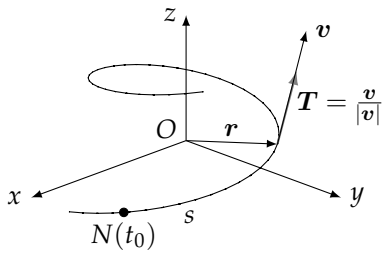

شکل ۱۳.۱۲: ہم $\boldsymbol{v}$ کو $|\boldsymbol{v}|$ سے تقسیم کر کے مماسی اکائی سمتیہ $\boldsymbol{T}$ حاصل کرتے ہیں۔

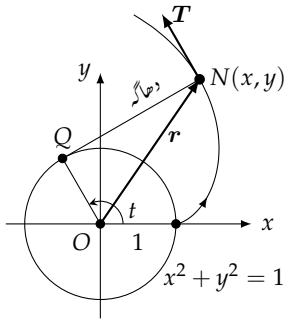

شکل ۱۴.۱۲: دائرہ پر لپٹے دھاگہ کو کھولتے ہوئے اس کا سر جس راہ پر چلتا ہو، وہ اس دائرے کا درپیچیدہ کہلاتا ہے۔ یہاں اکائی دائرہ مستوی xy میں ہے۔

۱۹۳۵۸ **اکائی مماسی سمتیہ $\boldsymbol{T}$**

۱۹۳۵۹ چونکہ زیر بحث منحنیات کے لئے $\frac{\mathrm{d}s}{\mathrm{d}t} > 0$ ہے لہٰذا s ایک ایک مطابقت رکھتا ہے اور اس کا الٹ پایا جائے گا جو t کو بطور s کا قابل تفرق تفاعل دے گا
۱۹۳۶۰ (حصہ ۱.۷)۔ اس الٹ کا تفرق درج ذیل ہو گا۔

$$\frac{\mathrm{d}t}{\mathrm{d}s} = \frac{1}{\mathrm{d}s/\,\mathrm{d}t} = \frac{1}{|\boldsymbol{v}|} \tag{۶}$$

۱۹۳۶۱ یوں $\boldsymbol{r}$ متغیر s کا قابل تفرق تفاعل ہو گا جس کے تفرق کو زنجیری قاعدہ سے حاصل کیا جا سکتا ہے:

$$\frac{\mathrm{d}\boldsymbol{r}}{\mathrm{d}s} = \frac{\mathrm{d}\boldsymbol{r}}{\mathrm{d}t}\frac{\mathrm{d}t}{\mathrm{d}s} = \boldsymbol{v}\frac{1}{|\boldsymbol{v}|} = \frac{\boldsymbol{v}}{|\boldsymbol{v}|} \tag{۷}$$

۱۹۳۶۲ مساوات ۷ کہتی ہے کہ $\frac{\mathrm{d}\boldsymbol{r}}{\mathrm{d}t}$ ایک اکائی سمتیہ ہے جو $\boldsymbol{v}$ کے رخ ہے۔ ہم $\frac{\mathrm{d}\boldsymbol{r}}{\mathrm{d}s}$ کو $\boldsymbol{r}$ کی منحنی راہ کا اکائی مماسی سمتیہ کہتے ہیں اور اس کو $\boldsymbol{T}$ سے ظاہر کرتے
۱۹۳۶۳ ہیں (شکل ۱۳.۱۲)۔

۱۹۳۶۴ تعریف: قابل تفرق تفاعل $\boldsymbol{r}(t)$ کا اکائی مماسی سمتیہ درج ذیل ہو گا۔

$$\boldsymbol{T} = \frac{\mathrm{d}\boldsymbol{r}}{\mathrm{d}s} = \frac{\mathrm{d}\boldsymbol{r}/\,\mathrm{d}t}{\mathrm{d}s/\,\mathrm{d}t} = \frac{\boldsymbol{v}}{|\boldsymbol{v}|} \tag{۸}$$

۱۹۳۶۵ □

۱۹۳۶۶ جہاں بھی $\boldsymbol{v}$ متغیر t کا قابل تفرق تفاعل ہو وہاں اکائی مماسی سمتیہ $\boldsymbol{T}$ بھی t کا قابل تفرق تفاعل ہو گا۔ جیسا ہم اگلے حصہ میں دیکھیں گے، فضا میں اجسام
۱۹۳۶۷ کی حرکت پر غور میں مستعمل، متحرک **حوالہ چوکھٹے**[۱۵]، کے تین اکائی سمتیات میں سے ایک اکائی سمتیہ $\boldsymbol{T}$ ہے۔

[۱۵] referenceframe

۱۹۳۶۸ مثال ۱۲.۱۵: درج ذیل پیچ دار منحنی کا اکائی مماسی سمتیہ تلاش کریں۔

$$\boldsymbol{r}(t) = (\cos t)\boldsymbol{i} + (\sin t)\boldsymbol{j} + t\boldsymbol{k}$$

۱۹۳۶۹ حل:

$$\begin{aligned}
\boldsymbol{v} &= (-\sin t)\boldsymbol{i} + (\cos t)\boldsymbol{j} + \boldsymbol{k} \\
|\boldsymbol{v}| &= \sqrt{(-\sin t)^2 + (\cos t)^2 + (1)^2} = \sqrt{2} \\
\boldsymbol{T} &= \frac{\boldsymbol{v}}{|\boldsymbol{v}|} = -\frac{\sin t}{\sqrt{2}}\boldsymbol{i} + \frac{\cos t}{\sqrt{2}}\boldsymbol{j} + \frac{1}{\sqrt{2}}\boldsymbol{k}
\end{aligned}$$

۱۹۳۷۰ □

۱۹۳۷۱ مثال ۱۲.۱۶: دائرہ کا درپیچیدہ (شکل ۱۲.۱۴)

۱۹۳۷۲ درج ذیل پیچ دار منحنی کا اکائی مماسی سمتیہ تلاش کریں۔

$$\boldsymbol{r}(t) = (\cos t + t\sin t)\boldsymbol{i} + (\sin t - t\cos t)\boldsymbol{j} \qquad t > 0$$

۱۹۳۷۳ حل:

$$\begin{aligned}
\boldsymbol{v} &= \frac{\mathrm{d}\boldsymbol{r}}{\mathrm{d}t} = (-\sin t + \sin t + t\cos t)\boldsymbol{i} + (\cos t - \cos t + t\sin t)\boldsymbol{j} \\
&= (t\cos t)\boldsymbol{i} + (t\sin t)\boldsymbol{j} \\
|\boldsymbol{v}| &= \sqrt{t^2\cos^2 t + t^2\sin^2 t} = \sqrt{t^2} = t \qquad \text{ہے } |t| = t \text{ کی وجہ سے } t > 0 \\
\boldsymbol{T} &= \frac{\boldsymbol{v}}{|\boldsymbol{v}|} = \frac{\boldsymbol{v}}{t} = (\cos t)\boldsymbol{i} + (\sin t)\boldsymbol{j}
\end{aligned}$$

۱۹۳۷۴ □

۱۹۳۷۵ مثال ۱۲.۱۷: اکائی دائرہ

$$\boldsymbol{v} = (-\sin t)\boldsymbol{i} + (\cos t)\boldsymbol{j}$$

۱۹۳۷۶ کے گرد گھڑی کے مخالف رخ حرکت

$$\boldsymbol{r}(t) = (\cos t)\boldsymbol{i} + (\sin t)\boldsymbol{j}$$

۱۹۳۷۷ کا اکائی مماسی سمتیہ $\boldsymbol{T} = \boldsymbol{v}$ ہے (شکل ۱۲.۱۵)۔ □

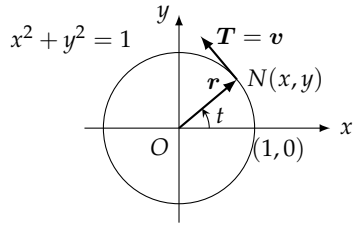

شکل ۱۲.۱۵: حرکت $\boldsymbol{r}(t) = (\cos t)\boldsymbol{i} + (\sin t)\boldsymbol{j}$ برائے مثال ۱۲.۱۷

۱۹۳۷۸ **سوالات**

۱۹۳۷۹ سوال ۱۲.۹۱ تا سوال ۱۲.۹۸ میں منحنی کا اکائی مماسی سمتیہ تلاش کریں۔ وقفہ پر منحنی کی لمبائی بھی دریافت کریں۔

۱۹۳۸۰ سوال ۱۲.۹۱: $\boldsymbol{r}(t) = (2\cos t)\boldsymbol{i} + (2\sin t)\boldsymbol{j} + \sqrt{5}t\boldsymbol{k}, \quad 0 \le t \le \pi$

۱۹۳۸۱ سوال ۱۲.۹۲: $\boldsymbol{r}(t) = (6\sin 2t)\boldsymbol{i} + (6\cos 2t)\boldsymbol{j} + 5t\boldsymbol{k}, \quad 0 \le t \le \pi$

۱۹۳۸۲ سوال ۱۲.۹۳: $\boldsymbol{r}(t) = t\boldsymbol{i} + \frac{2}{3}t^{3/2}\boldsymbol{k}, \quad 0 \le t \le 8$

۱۹۳۸۳ سوال ۱۲.۹۴: $\boldsymbol{r}(t) = (2+t)\boldsymbol{i} - (t+1)\boldsymbol{j} + t\boldsymbol{k}, \quad 0 \le t \le 3$

۱۹۳۸۴ سوال ۱۲.۹۵: $\boldsymbol{r}(t) = (\cos^3 t)\boldsymbol{j} + (\sin^3 t)\boldsymbol{k}, \quad 0 \le t \le \pi/2$

۱۹۳۸۵ سوال ۱۲.۹۶: $\boldsymbol{r}(t) = 6t^3\boldsymbol{i} - 2t^3\boldsymbol{j} - 3t^3\boldsymbol{k}, \quad 1 \le t \le 2$

۱۹۳۸۶ سوال ۱۲.۹۷: $\boldsymbol{r}(t) = (t\cos t)\boldsymbol{i} + (t\sin t)\boldsymbol{j} + \frac{2\sqrt{2}}{3}t^{3/2}\boldsymbol{k}, \quad 0 \le t \le \pi$

۱۹۳۸۷ سوال ۱۲.۹۸: $\boldsymbol{r}(t) = (t\sin t + \cos t)\boldsymbol{i} + (t\cos t - \sin t)\boldsymbol{j}, \quad \sqrt{2} \le t \le 2$

۱۹۳۸۸ سوال ۱۲.۹۹: مبدا سے بڑھتی لمبائی کے رخ درج ذیل منحنی پر مبدا سے 26π دور نقطہ تلاش کریں۔

$$\boldsymbol{r}(t) = (5\sin t)\boldsymbol{i} + (5\cos t)\boldsymbol{j} + 12t\boldsymbol{k}$$

۱۹۳۸۹ سوال ۱۲.۱۰۰: مبدا سے بڑھتی لمبائی کے مخالف رخ درج ذیل منحنی پر مبدا سے 13π دور نقطہ تلاش کریں۔

$$\boldsymbol{r}(t) = (12\sin t)\boldsymbol{i} - (12\cos t)\boldsymbol{j} + 5t\boldsymbol{k}$$

۱۹۳۹۰ سوال ۱۲.۱۰۱ تا سوال ۱۲.۱۰۴ میں $t = 0$ سے دور کسی نقطہ پر مقدار معلوم لمبائی قوس درج ذیل تکمل کی قیمت حاصل کرتے ہوئے تلاش کریں۔

$$s = \int_0^t \left|\boldsymbol{v}(\tau)\right| \mathrm{d}\tau \qquad \text{مساوات ۳}$$

۱۹۳۹۱ اس کے بعد دیے گئے وقفہ پر منحنی کی لمبائی تلاش کریں۔

سوال ۱۲.۱۰۱: $\boldsymbol{r}(t) = (4\cos t)\boldsymbol{i} + (4\sin t)\boldsymbol{j} + 3t\boldsymbol{k}, \quad 0 \le t \le \pi/2$

سوال ۱۲.۱۰۲: $\boldsymbol{r}(t) = (\cos t + t\sin t)\boldsymbol{i} + (\sin t - t\cos t)\boldsymbol{j}, \quad \frac{\pi}{2} \le t \le \pi$

سوال ۱۲.۱۰۳: $\boldsymbol{r}(t) = (e^t\cos t)\boldsymbol{i} + (e^t\sin t)\boldsymbol{j} + e^t\boldsymbol{k}, \quad -\ln 4 \le t \le 0$

سوال ۱۲.۱۰۴: $\boldsymbol{r}(t) = (1+2t)\boldsymbol{i} + (1+3t)\boldsymbol{j} + (6-6t)\boldsymbol{k}, \quad -1 \le t \le 0$

سوال ۱۲.۱۰۵: نقطہ $(0,0,1)$ سے $(\sqrt{2},\sqrt{2},0)$ تک درج ذیل منحنی کی لمبائی تلاش کریں۔

$$\boldsymbol{r}(t) = (\sqrt{2}t)\boldsymbol{i} + (\sqrt{2}t)\boldsymbol{j} + (1-t^2)\boldsymbol{k}$$

سوال ۱۲.۱۰۶: ہم نے مثال ۱۲.۱۲ میں پیچ دار منحنی کے ایک چکر کی لمبائی $2\pi\sqrt{2}$ تلاش کی۔ ایک مربع جس کا ضلع 2π ہو کے وتر کی لمبائی بھی یہی ہو گی۔ دکھائیں کہ جس نلکی پر پیچ دار منحنی کا ایک چکر لپٹا گیا ہے، اس کو انتصابی کاٹ کر سیدھا کرنے سے یہی مربع حاصل ہو گا۔

سوال ۱۲.۱۰۷:

ا. دکھائیں کہ $\boldsymbol{r}(t) = (\cos t)\boldsymbol{i} + (\sin t)\boldsymbol{j} + (1-\cos t)\boldsymbol{k},\ 0 \le t \le 2\pi$ ایک ترخیم ہے۔ ایسا کرنے کی خاطر دکھائیں کہ $\boldsymbol{r}$ قائمہ دائری نلکی اور ایک مستوی کا مطقاطع ہے۔ ان قائمہ دائری نلکی اور مستوی کی مساواتیں تلاش کریں۔

ب. نلکی پر ترخیم کا خاکہ کھینچیں اور اس پر نقاط $t = 0$ ، $t = \frac{\pi}{2}$ ، $t = \pi$ اور $t = \frac{3\pi}{2}$ پر اکائی مماسی سمتیات بنائیں۔

ج. دکھائیں کہ سمتیہ اسراع ہر صورت مستوی کو متوازی ہو گا (مستوی کے عمودی سمتیہ کو قائمہ ہو گا)۔ یوں اگر آپ اسراع کو ترخیم کے ساتھ جڑا دکھائیں تب یہ ترخیم کے مستوی میں پایا جائے گا۔ نقاط $t = 0$ ، $t = \frac{\pi}{2}$ ، $t = \pi$ اور $t = \frac{3\pi}{2}$ پر سمتیات اسراع کو خاکہ میں شامل کریں۔

د. ترخیم کی لمبائی کا تکمل لکھیں۔ اس تکمل کی قیمت تلاش کرنے کی کوشش نہ کریں چونکہ یہ ایک غیر بنیادی تکمل ہے۔

ھ. اعدادی ترکیبات سے ترخیم کی لمبائی دو اعشاریہ درست معلوم کریں۔

سوال ۱۲.۱۰۸: لمبائی کی قیمت مقدار معلوم روپ پر منحصر نہیں ہے۔

یہ دکھانے کی خاطر کہ لمبائی کی قیمت مقدار معلوم روپ پر منحصر نہیں ہے، ہم پیچ دار منحنی کے ایک چکر کی لمبائی درج ذیل (مختلف) مقدار معلوم مساواتیں استعمال کرتے ہوئے حاصل کرتے ہیں۔

ا. $\boldsymbol{r}(t) = (\cos 4t)\boldsymbol{i} + (\sin 4t)\boldsymbol{j} + 4t\boldsymbol{k}, \quad 0 \le t \le \frac{\pi}{2}$

ب. $\boldsymbol{r}(t) = (\cos(t/2))\boldsymbol{i} + (\sin(t/2))\boldsymbol{j} + (t/2)\boldsymbol{k}, \quad 0 \le t \le 4\pi$

ج. $\boldsymbol{r}(t) = (\cos t)\boldsymbol{i} - (\sin t)\boldsymbol{j} - t\boldsymbol{k}, \quad -2\pi \le t \le 0$

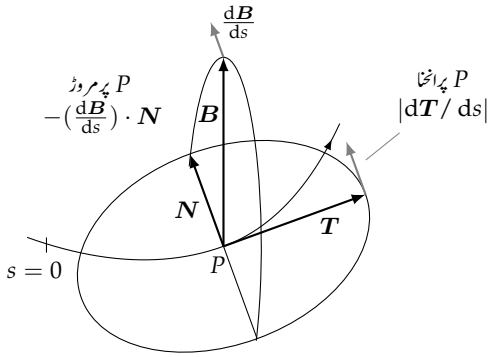

شکل ۱۲.۱۶: ہر متحرک جسم کے ساتھ ایک TNB چوکھٹ سفر کرتا ہے جو اس کی راہ کا کردار بیان کرتا ہے۔

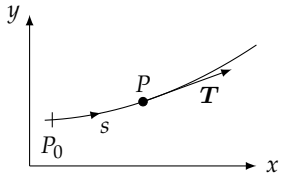

شکل ۱۲.۱۷: بڑھتی لمبائی قوس کے رخ چلتے ہوئے اکائی مماسی سمتیہ $\boldsymbol{T}$ مڑتا ہے۔ نقطہ P پر $|\mathrm{d}\boldsymbol{T}/\,\mathrm{d}s|$ کی قیمت کو P پر منحنی کی انحنا کہتے ہیں۔

۱۲.۴ انحنا، مروڑ اور TNB چوکھٹ

اس حصہ میں ہم تین آپس میں عمودی اکائی سمتیات پر مبنی ایسا چوکھٹ متعارف کرتے ہیں جو فضا میں منحنی پر جسم کے ساتھ ساتھ چلتا ہو (شکل ۱۲.۱۶)۔ اس چوکھٹ کے تین سمتیات ہیں۔ پہلا اکائی مماسی سمتیہ $\boldsymbol{T}$ ہے۔ دوسرا $\boldsymbol{N}$ ہے جو $\frac{\mathrm{d}\boldsymbol{R}}{\mathrm{d}s}$ کے رخ اکائی سمتیہ ہے۔ تیسرا اکائی سمتیہ $\boldsymbol{B}=\boldsymbol{T}\times\boldsymbol{N}$ ہے۔ یہ سمتیات اور ان کے تفرقات اگر معلوم ہوں، فضا میں سواری کی سمت بندی اور اس کی راہ میں موڑ اور بل کے بارے میں مفید معلومات مہیا کرتے ہیں۔

مثال کے طور پر $\left|\frac{\mathrm{d}\boldsymbol{R}}{\mathrm{d}s}\right|$ ہمیں بتاتا ہے کہ راہ پر آگے چلتے ہوئے، سواری کی راہ کتنی دائیں یا بائیں مڑتی ہے؛ اسی لئے اس کو سواری کی راہ کی **انحنا**[۱۶] کہتے ہیں۔ عدد $-(\mathrm{d}\boldsymbol{B}/\,\mathrm{d}s)\cdot\boldsymbol{N}$ ہمیں بتاتا ہے کہ راہ پر آگے چلتے ہوئے، سواری کی راہ مستوی حرکت سے کتنی باہر مڑتی ہے یا بل کھاتی ہے؛ اس کو سواری کی راہ کی **مروڑ**[۱۷] کہتے ہیں۔ دوبارہ شکل ۱۲.۱۶ پر نظر ڈالیں۔ اگر قوسی راہ پر ایک ریل گاڑی، P، اوپر چڑھ رہی ہو تب فی اکائی فاصلہ اس کی سربتی جتنی دائیں یا بائیں مڑتی ہو، یہ اس کی انحنا ہو گی۔ سمتیات $\boldsymbol{T}$ اور $\boldsymbol{N}$ کے مستوی سے ریل گاڑی کا انجن جس شرح سے باہر نکلتا ہو، یہ اس کی مروڑ ہو گی۔

مستوی منحنی کی انحنا

جیسے جیسے ایک ذرہ مستوی منحنی میں حرکت کرتا ہے، منحنی کے مڑنے سے $\boldsymbol{T}=\frac{\mathrm{d}\boldsymbol{r}}{\mathrm{d}s}$ بھی مڑتا ہے۔ چونکہ $\boldsymbol{T}$ اکائی سمتیہ ہے لہٰذا اس کی لمبائی تبدیل نہیں ہوتی اور راہ پر چلتے ہوئے صرف اس کا رخ تبدیل ہوتا ہے۔ منحنی پر چلتے ہوئے اکائی فاصلہ پر $\boldsymbol{T}$ کی شرح تبدیلی کو انحنا کہتے ہیں (شکل ۱۲.۱۷)۔ انحنا کو روایتی طور پر یونانی حرف κ (کاپا) سے ظاہر کیا جاتا ہے۔

تعریف: ایک ہموار منحنی جس کا اکائی مماسی سمتیہ $\boldsymbol{T}$ ہو، کا تفاعل انحنا درج ذیل ہو گا۔

$$\kappa=\left|\frac{\mathrm{d}\boldsymbol{T}}{\mathrm{d}s}\right|$$

---

[۱۶] curvature
[۱۷] torsion

۱۹۴۲۹ □

۱۹۴۳۰ اگر $|\mathrm{d}\boldsymbol{T}/\mathrm{d}s|$ بڑی قیمت ہو تب نقطہ P سے گزرتے ہوئے ذرہ بہت تیزی سے مڑے گا اور P پر انحنا زیادہ ہو گی۔ اگر $|\mathrm{d}\boldsymbol{T}/\mathrm{d}s|$ صفر کے
۱۹۴۳۱ قریب ہو تب $\boldsymbol{T}$ کا رخ آہستہ تبدیل ہو گا اور P پر انحنا کم ہو گی۔ اس تعریف کو پرکھتے ہوئے ہم درج ذیل دو مثالوں میں دیکھتے ہیں کہ سیدھے خط اور دائروں
۱۹۴۳۲ کی انحنا مستقل ہو گی۔

۱۹۴۳۳ مثال ۱۲.۱۸: سیدھے لکیر کی انحنا صفر ہو گی

۱۹۴۳۴ سیدھے لکیر پر اکائی مماسی سمتیہ $\boldsymbol{T}$ کا رخ تبدیل نہیں ہوتا ہے لہٰذا اس کے اجزاء مستقل ہوں گے۔ یوں $|\mathrm{d}\boldsymbol{T}/\mathrm{d}s| = |\boldsymbol{0}| = 0$ ہو گا (شکل
۱۹۴۳۵ ۱۲.۱۸)۔ □

۱۹۴۳۶ مثال ۱۲.۱۹: رداس a کے دائرے کی انحنا $\frac{1}{a}$ ہو گی

۱۹۴۳۷ ہم دائرہ کی مقدار معلوم مساوات

$$\boldsymbol{r}(\theta) = (a\cos\theta)\boldsymbol{i} + (a\sin\theta)\boldsymbol{j}$$

۱۹۴۳۸ میں $\theta = \frac{s}{a}$ پر کر کے اس کی لمبائی قوس s کے لحاظ سے مقدار معلوم روپ حاصل کرتے ہیں (شکل ۱۲.۱۹)۔

$$\boldsymbol{r} = (a\cos\frac{s}{a})\boldsymbol{i} + (a\sin\frac{s}{a})\boldsymbol{j}$$

۱۹۴۳۹ یوں

$$\boldsymbol{T} = \frac{\mathrm{d}\boldsymbol{r}}{\mathrm{d}s} = (-\sin\frac{s}{a})\boldsymbol{i} + (\cos\frac{s}{a})\boldsymbol{j}$$

۱۹۴۴۰ اور

$$\frac{\mathrm{d}\boldsymbol{T}}{\mathrm{d}s} = (-\frac{1}{a}\cos\frac{s}{a})\boldsymbol{i} - (\frac{1}{a}\sin\frac{s}{a})\boldsymbol{j}$$

۱۹۴۴۱ ہوں گے۔ اس طرح کسی بھی کے لئے درج ذیل ہو گا۔

$$\begin{aligned}
\kappa &= \left|\frac{\mathrm{d}\boldsymbol{T}}{\mathrm{d}s}\right| \\
&= \sqrt{\frac{1}{a^2}\cos^2\frac{s}{a} + \frac{1}{a^2}\sin^2\frac{s}{a}} \\
&= \frac{1}{\sqrt{a^2}} = \frac{1}{|a|} = \frac{1}{a} \qquad a > 0 \text{ کی وجہ سے } |a| = a \text{ ہو گا}
\end{aligned}$$

۱۹۴۴۲ □

شکل ۱۲.۱۸: سیدھے لکیر پر $\boldsymbol{T}$ کا رخ تبدیل نہیں ہوتا ہے لہٰذا اس کی انحنا $|\mathrm{d}\boldsymbol{T}/\,\mathrm{d}s|$ صفر ہو گی۔

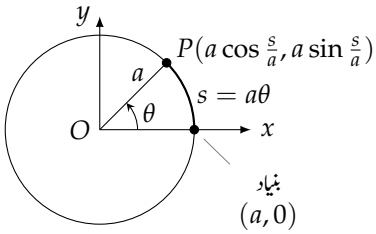

شکل ۱۲.۱۹: دائرہ برائے مثال ۱۲.۱۹

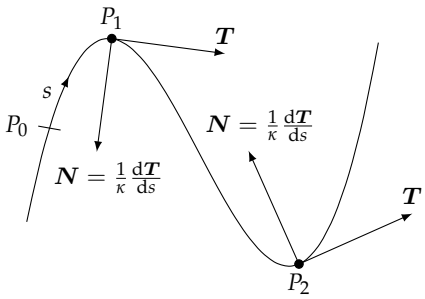

شکل ۱۲.۲۰: منحنی کا عمودی سمتیہ $\frac{\mathrm{d}\boldsymbol{T}}{\mathrm{d}s}$ ہر وقت اس رخ ہوتا ہے جس رخ $\boldsymbol{T}$ مڑتا ہو۔ سمتیہ $\boldsymbol{N}$ کا رخ سمتیہ $\frac{\mathrm{d}\boldsymbol{T}}{\mathrm{d}s}$ کا رخ ہے۔

صدر اکائی عمودی سمتیہ

چونکہ $\boldsymbol{T}$ کی لمبائی اکائی ہے لہٰذا $\frac{\mathrm{d}\boldsymbol{T}}{\mathrm{d}s}$ اور $\boldsymbol{T}$ آپس میں عمودی ہوں گے (حصہ ۱۲.۱)۔ یوں $\frac{\mathrm{d}\boldsymbol{T}}{\mathrm{d}s}$ کو لمبائی κ سے تقسیم کرنے سے ایسا اکائی سمتیہ حاصل ہو گا جو $\boldsymbol{T}$ کو عمودی ہو گا (شکل ۱۲.۲۰)۔

تعریف: جس نقطہ پر $\kappa \neq 0$ ہو وہاں مستوی میں منحنی کا صدر اکائی سمتیہ $\boldsymbol{N}$ درج ذیل ہو گا۔

$$\boldsymbol{N} = \frac{1}{\kappa}\frac{\mathrm{d}\boldsymbol{T}}{\mathrm{d}s}$$

□

موڑ پر سمتیہ $\frac{\mathrm{d}\boldsymbol{T}}{\mathrm{d}s}$ کا رخ اس جانب ہو گا جس جانب منحنی مڑتی ہو۔ یوں اگر بڑھتے فاصلہ کے رخ منہ کرتے ہوئے، اگر $\boldsymbol{T}$ گھڑی کے رخ مڑے تب سمتیہ $\frac{\mathrm{d}\boldsymbol{T}}{\mathrm{d}s}$ کا رخ دائیں ہو گا اور اگر $\boldsymbol{T}$ گھڑی کے مخالف رخ مڑتی ہو تب اس کا رخ بائیں ہو گا۔ دوسرے لفظوں میں صدر عمودی سمتیہ $\boldsymbol{N}$ منحنی کے مقعر رخ ہو گا (شکل ۱۲.۲۰)۔ جس نقطہ پر $\kappa = 0$ ہو، وہاں کے بارے میں سوال ۱۲.۱۱۸ میں غور کیا گیا ہے۔

تعریف کی رو سے منحنی $\boldsymbol{r}(t) = f(t)\boldsymbol{i} + g(t)\boldsymbol{j}$ کی لمبائی قوس، مثبت $\frac{\mathrm{d}s}{\mathrm{d}t}$ کے لئے ہو گی لہٰذا $\frac{\mathrm{d}s}{\mathrm{d}t} = \left|\frac{\mathrm{d}s}{\mathrm{d}t}\right|$ ہو گا اور زنجیری قاعدہ درج ذیل دے گا۔

$$\begin{aligned}
\boldsymbol{N} &= \frac{\mathrm{d}\boldsymbol{T}/\,\mathrm{d}s}{|\mathrm{d}\boldsymbol{T}/\,\mathrm{d}s|} \\
&= \frac{(\mathrm{d}\boldsymbol{T}/\,\mathrm{d}t)(\mathrm{d}t/\,\mathrm{d}s)}{|\mathrm{d}\boldsymbol{T}/\,\mathrm{d}t||\mathrm{d}t/\,\mathrm{d}s|} \\
&= \frac{\mathrm{d}\boldsymbol{T}/\,\mathrm{d}t}{|\mathrm{d}\boldsymbol{T}/\,\mathrm{d}t|} \qquad (۱)
\end{aligned}$$

اس طرح ہم κ اور s حاصل کیے بغیر $\boldsymbol{N}$ حاصل کر سکتے ہیں۔

مثال ۱۲.۲۰: درج ذیل دائری حرکت کے لئے $\boldsymbol{T}$ اور $\boldsymbol{N}$ تلاش کریں۔

$$\boldsymbol{r}(t) = (\cos 2t)\boldsymbol{i} + (\sin 2t)\boldsymbol{j}$$

حل: ہم پہلے $\boldsymbol{T}$ دریافت کرتے ہیں۔

$$\begin{aligned}
\boldsymbol{v} &= -(2\sin 2t)\boldsymbol{i} + (2\cos 2t)\boldsymbol{j}, \\
|\boldsymbol{v}| &= \sqrt{4\sin^2 2t + 4\cos^2 2t} = 2, \\
\boldsymbol{T} &= \frac{\boldsymbol{v}}{|\boldsymbol{v}|} \\
&= -(\sin 2t)\boldsymbol{i} + (\cos 2t)\boldsymbol{j}
\end{aligned}$$

۱۹۳۵۶ یوں

$$\frac{\mathrm{d}\boldsymbol{T}}{\mathrm{d}t} = -(2\cos 2t)\boldsymbol{i} - (2\sin 2t)\boldsymbol{j},$$
$$\left|\frac{\mathrm{d}\boldsymbol{T}}{\mathrm{d}t}\right| = \sqrt{4\cos^2 2t + 4\sin^2 2t} = 2$$

۱۹۳۵۷ اور درج ذیل ہو گا۔

$$\begin{aligned}\boldsymbol{N} &= \frac{\mathrm{d}\boldsymbol{T}/\,\mathrm{d}t}{|\mathrm{d}\boldsymbol{T}/\,\mathrm{d}t|}\\ &= -(\cos 2t)\boldsymbol{i} - (\sin 2t)\boldsymbol{j}\end{aligned}$$

۱۹۳۵۸ □

۱۹۳۵۹ انحنا کا دائرہ اور انحنا کا رداس

۱۹۳۶۰ مستوی منحنی پر نقطہ P جہاں $\kappa \neq 0$ ہو، **دائرہ انحنا**[۱۸] سے مراد اس مستوی میں وہ دائرہ ہے جو درج ذیل کو مطمئن کرتا ہو۔

۱۹۳۶۱ ا. نقطہ P پر یہ منحنی کا مماسی ہو (منحنی کا مماسی خط ہی اس کا مماسی خط ہے)؛

۱۹۳۶۲ ب. نقطہ P پر اس کی انحنا اور منحنی کی انحنا ایک دوسرے کے برابر ہوں؛

۱۹۳۶۳ ج. یہ منحنی کے اندرونی یعنی مقعر رخ پایا جائے (شکل ۱۲.۲۱)۔

۱۹۳۶۴ نقطہ P پر منحنی کے **رداس انحنا**[۱۹] سے مراد اس نقطہ پر دائرہ انحنا کا رداس ہے، جو مثال ۱۲.۱۹ کے مطابق درج ذیل ہو گا۔

$$\text{رداس انحنا} = \rho = \frac{1}{\kappa} \tag{۲}$$

۱۹۳۶۵ رداس انحنا جاننے کے لئے ہم κ معلوم کر کے اس کا بالعکس متناسب لیتے ہیں۔ نقطہ P پر **مرکز انحنا**[۲۰] سے مراد یہاں کے دائرہ انحنا کا مرکز ہو گا۔

۱۹۳۶۶ فضائی منحنیات کی انحنا اور عمودی سمتیات

۱۹۳۶۷ مستوی منحنیات کی طرح فضا میں ہموار منحنی کے لئے مقدار معلوم لمبائی قوس s، مماسی اکائی سمتیہ $\boldsymbol{T}$ دیتا ہے۔ ہم اب بھی انحنا سے مراد

$$\kappa = \left|\frac{\mathrm{d}\boldsymbol{T}}{\mathrm{d}s}\right| \tag{۳}$$

---

[۱۸] circleofcurvature
[۱۹] radiusofcurvature
[۲۰] centerofcurvature

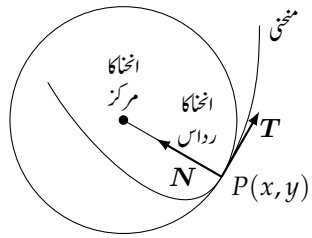

شکل ۱۲.۲۱: نقطہ $P(x,y)$ پر دائرہ انحنا منحنی کے اندرونی رخ ہو گا۔

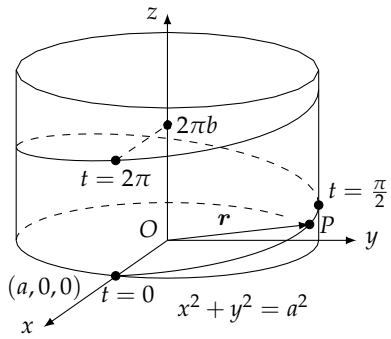

شکل ۱۲.۲۲: مثبت a ، b کے لئے

$$\boldsymbol{r}(t) = (a\cos t)\boldsymbol{i} + (a\sin t)\boldsymbol{j}$$

۱۹۳۶۸ لیتے ہیں۔ سمتیہ $\frac{\mathrm{d}\boldsymbol{T}}{\mathrm{d}s}$ سمتیہ $\boldsymbol{T}$ کو عمودی ہو گا اور ہم صدر اکائی عمودی سمتیہ سے مراد درج ذیل لیتے ہیں۔

$$\boldsymbol{N} = \frac{1}{\kappa}\frac{\mathrm{d}\boldsymbol{T}}{\mathrm{d}s} = \frac{\mathrm{d}\boldsymbol{T}/\,\mathrm{d}t}{|\mathrm{d}\boldsymbol{T}/\,\mathrm{d}t|} \tag{۴}$$

۱۹۳۶۹ مثال ۱۲.۲۱: درج ذیل پیچ دار منحنی کی انحنا دریافت کریں (شکل ۱۲.۲۲)۔

$$\boldsymbol{r}(t) = (a\cos t)\boldsymbol{i} + (a\sin t)\boldsymbol{j} + bt\boldsymbol{k}, \quad a, b \geq 0,\ a^2 + b^2 \neq 0$$

۱۹۳۷۰ حل: ہم سمتی رفتار $\boldsymbol{v}$ سے $\boldsymbol{T}$ حاصل کرتے ہیں۔

$$\begin{aligned}
\boldsymbol{v}(t) &= -(a\sin t)\boldsymbol{i} + (a\cos t)\boldsymbol{j} + b\boldsymbol{k} \\
|\boldsymbol{v}| &= \sqrt{a^2\sin^2 t + a^2\cos^2 t + b^2} = \sqrt{a^2 + b^2} \\
\boldsymbol{T} &= \frac{\boldsymbol{v}}{|\boldsymbol{v}|} = \frac{1}{\sqrt{a^2+b^2}}[-(a\sin t)\boldsymbol{i} + (a\cos t)\boldsymbol{j} + b\boldsymbol{k}]
\end{aligned}$$

۱۹۳۷۱ اب زنجیری قاعدہ سے $\frac{\mathrm{d}\boldsymbol{T}}{\mathrm{d}s}$ حاصل کرتے ہیں۔

زنجیری قاعدہ

$$\frac{\mathrm{d}s}{\mathrm{d}t} = |\boldsymbol{v}| \implies \frac{\mathrm{d}t}{\mathrm{d}s} = \frac{1}{|\boldsymbol{v}|}$$

$$\begin{aligned}
\frac{\mathrm{d}\boldsymbol{T}}{\mathrm{d}s} &= \frac{\mathrm{d}\boldsymbol{T}}{\mathrm{d}t}\frac{\mathrm{d}t}{\mathrm{d}s} \\
&= \frac{\mathrm{d}\boldsymbol{T}}{\mathrm{d}t}\cdot\frac{1}{|\boldsymbol{v}|} \\
&= \frac{1}{\sqrt{a^2+b^2}}[-(a\cos t)\boldsymbol{i} - (a\sin t)\boldsymbol{j}]\cdot\left(\frac{1}{\sqrt{a^2+b^2}}\right) \\
&= \frac{a}{a^2+b^2}[-(\cos t)\boldsymbol{i} - (\sin t)\boldsymbol{j}]
\end{aligned}$$

۱۹۴۷۲ اس طرح درج ذیل ہو گا۔

$$\begin{aligned}\kappa &= \left|\frac{\mathrm{d}\boldsymbol{T}}{\mathrm{d}s}\right| \\ &= \frac{a}{a^2+b^2}\left|-(\cos t)\boldsymbol{i}-(\sin t)\boldsymbol{j}\right| \\ &= \frac{a}{a^2+b^2}\sqrt{(\cos t)^2+(\sin t)^2} = \frac{a}{a^2+b^2} \qquad (۵)\end{aligned}$$

۱۹۴۷۳ ہم مساوات ۵ سے دیکھتے ہیں کہ مستقل a کے لئے b بڑھانے سے انحنا کم ہوتی ہے۔ مستقل b کے لئے a کم کرنے سے بھی انحنا آخر کار انحنا کم کرتی ہے۔

۱۹۴۷۴ ایک اسپرنگ کھینچنے سے سیدھا ہوتا ہے۔

۱۹۴۷۵ اگر $b = 0$ ہو تب پیچ دار منحنی ایک دائرہ ہو گا جس کا رداس a اور انحنا $\frac{1}{a}$ ہو گی۔ اگر $a = 0$ ہو تب پیچ دار منحنی، محور z پر سیدھا خط ہو گا اور اس کی

۱۹۴۷۶ انحنا 0 ہو گی۔ □

۱۹۴۷۷ مثال ۱۲.۲۲: گزشتہ مثال میں منحنی کے لئے $\boldsymbol{N}$ تلاش کریں۔

۱۹۴۷۸ حل:

$$\frac{\mathrm{d}\boldsymbol{T}}{\mathrm{d}t} = -\frac{1}{\sqrt{a^2+b^2}}[(a\cos t)\boldsymbol{i}+(a\sin t)\boldsymbol{j}] \qquad \text{مثال ۱۲.۲۱}$$

$$\left|\frac{\mathrm{d}\boldsymbol{T}}{\mathrm{d}t}\right| = \frac{1}{\sqrt{a^2+b^2}}\sqrt{a^2\cos^2 t+a^2\sin^2 t} = \frac{a}{\sqrt{a^2+b^2}}$$

$$\begin{aligned}\boldsymbol{N} &= \frac{\mathrm{d}\boldsymbol{T}/\,\mathrm{d}t}{|\mathrm{d}\boldsymbol{T}/\,\mathrm{d}t|} \qquad \text{مساوات ۴} \\ &= -\frac{\sqrt{a^2+b^2}}{a}\cdot\frac{1}{\sqrt{a^2+b^2}}[(a\cos t)\boldsymbol{i}+(a\sin t)\boldsymbol{j}] \\ &= -(\cos t)\boldsymbol{i}-(\sin t)\boldsymbol{j}\end{aligned}$$

۱۹۴۷۹ □

۱۹۴۸۰ مروڑ اور دوہری عمودی سمتیہ

۱۹۴۸۱ فضا میں منحنی کا **دوہری عمودی سمتیہ**[۲۱] $\boldsymbol{B} = \boldsymbol{T}\times\boldsymbol{N}$ ہے جو $\boldsymbol{T}$ اور $\boldsymbol{N}$ دونوں کو عمودی ہو گا (شکل ۱۲.۲۳)۔ سمتیات $\boldsymbol{T}$ ، $\boldsymbol{N}$ اور

۱۹۴۸۲ $\boldsymbol{B}$ مل کر دایاں ہاتھ، متحرک، سمتی چوکھٹ دیتے ہیں جو فضا میں سواری کی حرکت پر غور میں مددگار ثابت ہوتا ہے۔

۱۹۴۸۳ سمتیات $\boldsymbol{T}$ ، $\boldsymbol{N}$ اور $\boldsymbol{B}$ کے لحاظ سے $\frac{\mathrm{d}\boldsymbol{B}}{\mathrm{d}s}$ کا رویہ کیسا ہو گا؟ حاصل صلیبی ضرب کے قاعدہ تفرق سے

$$\frac{\mathrm{d}\boldsymbol{B}}{\mathrm{d}s} = \frac{\mathrm{d}\boldsymbol{T}}{\mathrm{d}s}\times\boldsymbol{N}+\boldsymbol{T}\times\frac{\mathrm{d}\boldsymbol{N}}{\mathrm{d}s}$$

---

[۲۱] binormalvector

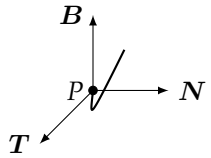

شکل ۱۲.۲۳: سمتیات $\boldsymbol{T}$ ، $\boldsymbol{N}$ اور $\boldsymbol{B}$ (اسی ترتیب میں) فضا میں آپس میں عمودی اکائی سمتیات کا دایاں ہاتھ چوکھٹ دیتے ہیں۔

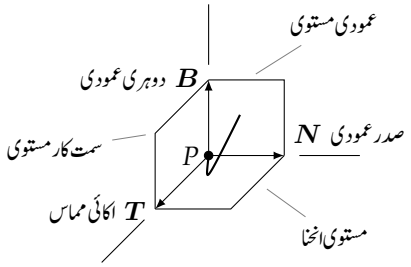

شکل ۱۲.۲۴: سمتیات $\boldsymbol{T}$ ، $\boldsymbol{N}$ ، $\boldsymbol{B}$ کے پیدا تین مستوی کے نام۔

۱۹۳۸۴ حاصل ہوتا ہے۔ چونکہ $\boldsymbol{N}$ کا رخ $\frac{\mathrm{d}\boldsymbol{T}}{\mathrm{d}s}$ کے رخ ہے لہٰذا $\frac{\mathrm{d}\boldsymbol{T}}{\mathrm{d}s} \times \boldsymbol{N} = \boldsymbol{0}$ ہو گا اور یوں درج ذیل ہو گا۔

$$\frac{\mathrm{d}\boldsymbol{B}}{\mathrm{d}s} = \boldsymbol{0} + \boldsymbol{T} \times \frac{\mathrm{d}\boldsymbol{N}}{\mathrm{d}s} = \boldsymbol{T} \times \frac{\mathrm{d}\boldsymbol{N}}{\mathrm{d}s} \tag{۶}$$

۱۹۳۸۵ چونکہ حاصل صلیبی ضرب دونوں اجزاء کو عمودی ہوتا ہے لہٰذا $\frac{\mathrm{d}\boldsymbol{B}}{\mathrm{d}s}$ سمتیہ $\boldsymbol{T}$ کو عمودی ہو گا۔

۱۹۳۸۶ چونکہ $\frac{\mathrm{d}\boldsymbol{B}}{\mathrm{d}s}$ سمتیہ $\boldsymbol{B}$ (جس کی لمبائی مستقل ہے) کو بھی عمودی ہے لہٰذا $\boldsymbol{B}$ اور $\boldsymbol{T}$ کے مستوی کو $\frac{\mathrm{d}\boldsymbol{B}}{\mathrm{d}s}$ عمودی ہو گا۔ دوسرے لفظوں میں $\frac{\mathrm{d}\boldsymbol{B}}{\mathrm{d}s}$

۱۹۳۸۷ سمتیہ $\boldsymbol{N}$ کے متوازی ہو گا اور یوں $\frac{\mathrm{d}\boldsymbol{B}}{\mathrm{d}s}$ سمتیہ $\boldsymbol{N}$ کا مستقل مضرب ہو گا۔ اس حقیقت کو علامتی طور پر

$$\frac{\mathrm{d}\boldsymbol{B}}{\mathrm{d}s} = -\tau \boldsymbol{N}$$

۱۹۳۸۸ لکھا جاتا ہے جہاں منفی کی علامت روایتی ہے۔ غیر سمتی τ ، **منحنی پر مروڑ** کہلاتا ہے۔ دھیان رہے کہ

$$\frac{\mathrm{d}\boldsymbol{B}}{\mathrm{d}s} \cdot \boldsymbol{N} = -\tau \boldsymbol{N} \cdot \boldsymbol{N} = -\tau(1) = -\tau$$

۱۹۳۸۹ کی وجہ سے درج ذیل ہو گا۔

$$\tau = -\frac{\mathrm{d}\boldsymbol{B}}{\mathrm{d}s} \cdot \boldsymbol{N}$$

۱۹۳۹۰ تعریف: فرض کریں $\boldsymbol{B} = \boldsymbol{T} \times \boldsymbol{N}$ ہے۔ تب ہموار منحنی کا تفاعل **مروڑ**[۲۲] درج ذیل ہو گا۔

$$\tau = -\frac{\mathrm{d}\boldsymbol{B}}{\mathrm{d}s} \cdot \boldsymbol{N}$$

۱۹۳۹۱ □

[۲۲] torsion

انحنا κ کے برعکس جو کبھی منفی نہیں ہو سکتا ہے، مروڑ τ مثبت، منفی یا صفر ہو سکتا ہے۔

منحنیات $\boldsymbol{T}$ ، $\boldsymbol{N}$ اور $\boldsymbol{B}$ مل کر تین مستوی دیتے ہیں (شکل ۱۲.۲۴)۔ منحنی پر چلتے ہوئے نقطہ P پر عمودی مستوی کی مڑنے کی شرح کو انحنا $\kappa = \left|\frac{\mathrm{d}\boldsymbol{T}}{\mathrm{d}s}\right|$ تصور کیا جا سکتا ہے۔ اسی طرح منحنی پر چلتے ہوئے نقطہ P پر $\boldsymbol{T}$ کے لحاظ سے سطح منحنی انحنا کی مڑنے کی شرح کو مروڑ $\tau = -\frac{\mathrm{d}\boldsymbol{B}}{\mathrm{d}s}\cdot\boldsymbol{N}$ تصور کیا جا سکتا ہے۔ منحنی میں بل کی پیائش اس منحنی کی مروڑ ہو گی۔

اسراع کے مماسی اور عمودی اجزاء

قوت کشش، بریک یا انجن کی طاقت کی وجہ سے کسی جسم کی اسراع کے مماسی جزو میں ہم عموماً دلچسپی رکھتے ہیں جو اس قوت کی وجہ سے پیدا ہوتی ہے۔ ہم زنجیری قاعدہ استعمال کرتے ہوئے $\boldsymbol{v}$ کے لئے

$$\boldsymbol{v} = \frac{\mathrm{d}\boldsymbol{r}}{\mathrm{d}t} = \frac{\mathrm{d}\boldsymbol{r}}{\mathrm{d}s}\frac{\mathrm{d}s}{\mathrm{d}t} = \boldsymbol{T}\frac{\mathrm{d}s}{\mathrm{d}t}$$

لکھ کر دونوں اطراف کا تفرق لیتے ہیں۔

$$\begin{aligned}\boldsymbol{a} = \frac{\mathrm{d}\boldsymbol{v}}{\mathrm{d}t} &= \frac{\mathrm{d}}{\mathrm{d}t}\left(\boldsymbol{T}\frac{\mathrm{d}s}{\mathrm{d}t}\right) = \frac{\mathrm{d}^2 s}{\mathrm{d}t^2}\boldsymbol{T} + \frac{\mathrm{d}s}{\mathrm{d}t}\frac{\mathrm{d}\boldsymbol{T}}{\mathrm{d}t}\\ &= \frac{\mathrm{d}^2 s}{\mathrm{d}t^2}\boldsymbol{T} + \frac{\mathrm{d}s}{\mathrm{d}t}\left(\frac{\mathrm{d}\boldsymbol{T}}{\mathrm{d}s}\frac{\mathrm{d}s}{\mathrm{d}t}\right) = \frac{\mathrm{d}^2 s}{\mathrm{d}t^2}\boldsymbol{T} + \frac{\mathrm{d}s}{\mathrm{d}t}\left(\kappa\boldsymbol{N}\frac{\mathrm{d}s}{\mathrm{d}t}\right)\\ &= \frac{\mathrm{d}^2 s}{\mathrm{d}t^2}\boldsymbol{T} + \kappa\left(\frac{\mathrm{d}s}{\mathrm{d}t}\right)^2\boldsymbol{N}\end{aligned}$$

اس کو

$$\boldsymbol{a} = a_T\boldsymbol{T} + a_N\boldsymbol{T} \tag{۷}$$

لکھا جا سکتا ہے جہاں اسراع کا غیر سمتی مماسی جزو a_T اور غیر سمتی عمودی جزو a_N درج ذیل ہوں گے۔

$$a_T = \frac{\mathrm{d}^2 s}{\mathrm{d}t^2} = \frac{\mathrm{d}}{\mathrm{d}t}|\boldsymbol{v}|, \qquad a_N = \kappa\left(\frac{\mathrm{d}s}{\mathrm{d}t}\right)^2 = \kappa|\boldsymbol{v}|^2 \tag{۸}$$

آپ نے دیکھا کہ مساوات ۷ میں $\boldsymbol{B}$ نہیں پایا جاتا ہے۔ ایک راہ جس پر ایک جسم چل رہا ہو جتنا بھی گھومتا ہو، اس پر اسراع ہر صورت $\boldsymbol{T}$ اور $\boldsymbol{N}$ کے مستوی میں $\boldsymbol{B}$ کی عمودی پائی جائے گی۔ یہ مساوات ہمیں یہ بھی بتاتی ہے کہ کتنی اسراع حرکت کے مماسی رخ $\frac{\mathrm{d}^2 s}{\mathrm{d}t^2}$ اور کتنی اسراع حرکت کے عمودی رخ $\kappa(\mathrm{d}s/\,\mathrm{d}t)^2$ ہو گی (شکل ۱۲.۲۵)۔

ہم مساوات ۸ سے کیا معلومات حاصل کر سکتے ہیں۔ تعریف کی رو سے، اسراع $\boldsymbol{a}$ سمتی رفتار $\boldsymbol{v}$ کی تبدیلی کی شرح ہو گی اور حرکت کے دوران سمتی رفتار کا رخ اور اس کی مقدار (لمبائی) تبدیل ہو گی۔ اسراع کا مماسی جزو a_T سمتی رفتار $\boldsymbol{v}$ کی لمبائی کی شرح تبدیلی دیتا ہے (یعنی رفتار میں تبدیلی)۔ عمودی جزو a_N ہمیں $\boldsymbol{v}$ کے رخ کی تبدیلی کی شرح دیتا ہے۔

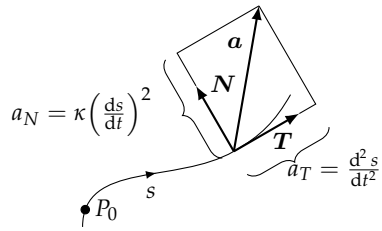

شکل ۱۲.۲۵: اسراع کے مماسی اور عمودی اجزاء۔ اسراع $\boldsymbol{a}$ ہر صورت $\boldsymbol{T}$ اور $\boldsymbol{N}$ کے مستوی میں $\boldsymbol{B}$ کے عمودی پایا جاتا ہے۔

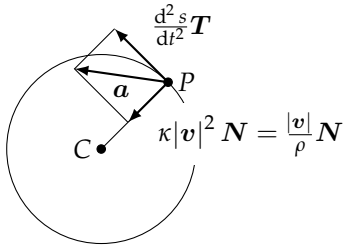

شکل ۱۲.۲۶: ایک جسم جس کی رفتار ایک دائری راہ پر گھڑی کے الٹ رخ چلتے ہوئے بڑھ رہی ہو کے اسراع کے مماسی اور عمودی اجزاء۔ دائرہ کا رداس ρ ہے۔

دھیان رہے کہ a_N انحنا ضرب رفتار کا مربع ہو گا۔ اس سے ہمیں معلوم ہوتا ہے کہ جب گاڑی تیز رفتار (زیادہ $|\boldsymbol{v}|$) سے چلتے ہوئے زیادہ جلدی مڑے (بڑی κ) تب ہمیں کیوں سیدھا بیٹھنے میں مشکل پیش آتی ہے۔ گاڑی کی رفتار دگنی کرنے سے آپ اسی انحنا کے لئے چار گنّا زیادہ عمودی اسراع محسوس کریں گے (شکل ۱۲.۲۶)۔

اگر ایک جسم مستقل رفتار سے چل رہی ہو تب $\frac{d^2 s}{dt^2}$ صفر ہو گا اور تمام اسراع $\boldsymbol{N}$ کے رخ، دائرے کے مرکز کے رخ ہو گا۔ اگر ایک جسم کی رفتار بڑھ یا گھٹ رہی ہو تب $\boldsymbol{a}$ کا غیر صفر مماسی جزو ہو گا۔

اسراع کا عمودی جزو a_N معلوم کرنے کی خاطر ہم عموماً کلیہ $a_N = \sqrt{|\boldsymbol{a}|^2 - a_T^2}$ استعمال کرتے ہیں جو مساوات $|\boldsymbol{a}|^2 = \boldsymbol{a}\cdot\boldsymbol{a} = a_T^2 + a_N^2$ حل کرنے سے حاصل ہوتا ہے۔ اس کلیہ کو استعمال کرتے ہوئے ہم بغیر κ معلوم کیے، a_N معلوم کر سکتے ہیں۔

$$a_N = \sqrt{|\boldsymbol{a}|^2 - a_T^2} \tag{۹}$$

مثال ۱۲.۲۳: درج ذیل حرکت کے لئے $\boldsymbol{T}$ اور $\boldsymbol{N}$ حاصل کئے بغیر اسراع $\boldsymbol{a} = a_T\boldsymbol{T} + a_N\boldsymbol{N}$ روپ میں لکھیں۔

$$\boldsymbol{r}(t) = (\cos t + t\sin t)\boldsymbol{i} + (\sin t - t\cos t)\boldsymbol{j}, \quad t > 0$$

یہ راہ شکل ۱۲.۲۷ میں دکھائے دائرہ کا درپیچیدہ ہے۔

حل: ہم پہلے مساوات ۸ سے a_T حاصل کرتے ہیں۔

$$\begin{aligned}
\boldsymbol{v} &= (t\cos t)\boldsymbol{i} + (t\sin t)\boldsymbol{j} && \text{مثال ۱۲.۱۶}\\
|\boldsymbol{v}| &= \sqrt{t^2\cos^2 t + t^2\sin^2 t} = \sqrt{t^2} = |t| = t && t > 0\\
a_T &= \frac{d}{dt}|\boldsymbol{v}| = \frac{d}{dt}(t) = 1 && \text{مساوات ۸}
\end{aligned}$$

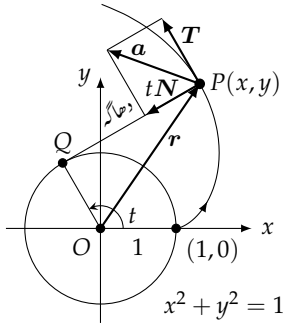

شکل ۱۲.۲۷: اسراع کے مماسی اور عمودی اجزاء (مثال ۱۲.۲۳)

۱۹۵۱۸ اب مساوات ۹ استعمال کرتے ہوئے a_N حاصل کرتے ہیں۔

$$\begin{aligned}
\boldsymbol{a} &= (\cos t - t\sin t)\boldsymbol{i} + (\sin t + t\cos t)\boldsymbol{j} \\
|\boldsymbol{a}|^2 &= t^2 + 1 && \text{کچھ الجبرا کے بعد} \\
a_N &= \sqrt{|\boldsymbol{a}|^2 - a_T^2} \\
&= \sqrt{(t^2+1) - (1)} = \sqrt{t^2} = t
\end{aligned}$$

۱۹۵۱۹ اس کے بعد ہم مساوات ۷ سے $\boldsymbol{a}$ تلاش کرتے ہیں۔

$$\boldsymbol{a} = a_T\boldsymbol{T} + a_N\boldsymbol{N} = (1)\boldsymbol{T} + (t)\boldsymbol{N} = \boldsymbol{T} + t\boldsymbol{N}$$

۱۹۵۲۰ □

۱۹۵۲۱ انحنا اور مروڑ کے کلیات

۱۹۵۲۲ ہم اب ہموار منحنیات کے انحنا اور مروڑ تلاش کرنے کے چند کلیات پیش کرتے ہیں جو استعمال میں آسان ثابت ہوتے ہیں۔ مساوات ۷ سے درج ذیل لکھا جا سکتا
۱۹۵۲۳ ہے۔

$$\begin{aligned}
\boldsymbol{v} \times \boldsymbol{a} &= \left(\frac{\mathrm{d}s}{\mathrm{d}t}\boldsymbol{T}\right) \times \left[\frac{\mathrm{d}^2 s}{\mathrm{d}t^2}\boldsymbol{T} + \kappa\left(\frac{\mathrm{d}s}{\mathrm{d}t}\right)^2\boldsymbol{N}\right] && \boldsymbol{v} = \tfrac{\mathrm{d}s}{\mathrm{d}t}\boldsymbol{T} \text{ مساوات ۸ سے} \\
&= \left(\frac{\mathrm{d}s}{\mathrm{d}t}\frac{\mathrm{d}^2 s}{\mathrm{d}t^2}\right)(\boldsymbol{T}\times\boldsymbol{T}) + \kappa\left(\frac{\mathrm{d}s}{\mathrm{d}t}\right)^3(\boldsymbol{T}\times\boldsymbol{N}) \\
&= \kappa\left(\frac{\mathrm{d}s}{\mathrm{d}t}\right)^3\boldsymbol{B} && \boldsymbol{T}\times\boldsymbol{T} = \boldsymbol{0},\ \boldsymbol{T}\times\boldsymbol{N} = \boldsymbol{B}
\end{aligned}$$

یوں

$$|\boldsymbol{v}\times\boldsymbol{a}| = \kappa\left|\frac{\mathrm{d}s}{\mathrm{d}t}\right|^3|\boldsymbol{B}| = \kappa|\boldsymbol{v}|^3 \qquad \frac{\mathrm{d}s}{\mathrm{d}t} = |\boldsymbol{v}| \text{ اور } |\boldsymbol{B}| = 1$$

ہو گا جس کو κ کے لئے حل کر کے درج ذیل کلیہ حاصل ہو گا۔

انحنا کا سمتی کلیہ

$$\kappa = \frac{|\boldsymbol{v}\times\boldsymbol{a}|}{|\boldsymbol{v}|^3} \tag{۱۰}$$

مساوات ۱۰ ہمیں منحنی پر چلتے ہوئے سمتی رفتار جہاں $\boldsymbol{v}$ غیر صفر ہو اور اسراع کی کسی بھی روپ سے انحنا، جو منحنی کی جیومیٹریائی خاصیت ہے، دیتی ہے۔ ذرہ رک کر اس حیرت کن حقیقت پر غور کریں۔ منحنی پر حرکت کے کسی بھی کلیہ سے، چاہے حرکت کتنا بھی متغیر کیوں نہ ہو (جب تک $\boldsymbol{v}$ صفر نہ ہو)، ہم منحنی کی طبعی خاصیت دریافت کر سکتے ہیں جس کا ظاہری طور پر منحنی پر چلنے سے کوئی تعلق نہیں ہے۔

مروڑ کا ایک مقبول کلیہ جو اعلیٰ نصاب میں حاصل کیا جاتا ہے درج ذیل ہے جہاں ایک نقطہ، t کے لحاظ سے ایک تفرق کو ظاہر کرتا ہے۔ یوں $\dot{x} = \frac{\mathrm{d}x}{\mathrm{d}t}$، $\ddot{x} = \frac{\mathrm{d}^2x}{\mathrm{d}t^2}$ اور $\dddot{x} = \frac{\mathrm{d}^3x}{\mathrm{d}t^3}$ ہوں گے۔

$$\tau = \frac{\begin{vmatrix} \dot{x} & \dot{y} & \dot{z} \\ \ddot{x} & \ddot{y} & \ddot{z} \\ \dddot{x} & \dddot{y} & \dddot{z} \end{vmatrix}}{|\boldsymbol{v}\times\boldsymbol{a}|^2} \qquad \text{جہاں } \boldsymbol{v}\times\boldsymbol{a} \neq \boldsymbol{0} \text{ ہو} \tag{۱۱}$$

یہ کلیہ $\boldsymbol{r}$ کے تفاعل اجزاء $x = f(t)$، $y = g(t)$ اور $z = h(t)$ سے مروڑ دیتا ہے۔ مقطع کی پہلی صف $\boldsymbol{v}$ سے، دوسری صف $\boldsymbol{a}$ سے اور تیسری صف $\dot{\boldsymbol{a}} = \frac{\mathrm{d}\boldsymbol{a}}{\mathrm{d}t}$ سے حاصل ہوتا ہے۔

مثال ۱۲.۲۴: درج ذیل پیچ دار کا κ اور τ مساوات ۱۰ اور مساوات ۱۱ سے حاصل کریں۔

$$\boldsymbol{r}(t) = (a\cos t)\boldsymbol{i} + (a\sin t)\boldsymbol{j} + bt\boldsymbol{k}, \quad a, b \geq 0,\ a^2+b^2 \neq 0$$

حل: ہم انحنا کو مساوات ۱۰ کی مدد سے حاصل کرتے ہیں۔

$$\begin{aligned}
\boldsymbol{v} &= -(a\sin t)\boldsymbol{i} + (a\cos t)\boldsymbol{j} + b\boldsymbol{k}, \\
\boldsymbol{a} &= -(a\cos t)\boldsymbol{i} - (a\sin t)\boldsymbol{j}, \\
\boldsymbol{v}\times\boldsymbol{a} &= \begin{vmatrix} \boldsymbol{i} & \boldsymbol{j} & \boldsymbol{k} \\ -a\sin t & a\cos t & b \\ -a\cos t & -a\sin t & 0 \end{vmatrix} \\
&= (ab\sin t)\boldsymbol{i} - (ab\cos t)\boldsymbol{j} + a^2\boldsymbol{k}, \\
\kappa &= \frac{|\boldsymbol{v}\times\boldsymbol{a}|}{|\boldsymbol{v}|^3} = \frac{\sqrt{a^2b^2+a^4}}{(a^2+b^2)^{3/2}} = \frac{a\sqrt{a^2+b^2}}{(a^2+b^2)^{3/2}} = \frac{a}{a^2+b^2}
\end{aligned} \tag{۱۲}$$

۱۹۵۳۶ مساوات ۱۲ اور مساوات ۵ جہاں ہم نے انحنا کو اس کی تعریف سے حاصل کیا، ایک سا نتیجہ دیتی ہیں۔

۱۹۵۳۷ مروڑ کے لئے مساوات ۱۱ استعمال کرنے سے پہلے ہم مقطع کے اندراج تلاش کرتے ہیں۔ ہم $\boldsymbol{v}$ اور $\boldsymbol{a}$ جانتے ہیں لہٰذا

$$\dot{\boldsymbol{a}} = \frac{\mathrm{d}\boldsymbol{a}}{\mathrm{d}t} = (a\sin t)\boldsymbol{i} - (a\cos t)\boldsymbol{j}$$

۱۹۵۳۸ ہو گا۔ یوں مروڑ درج ذیل ہو گا۔

$$\begin{aligned}\tau &= \frac{\begin{vmatrix} \dot{x} & \dot{y} & \dot{z} \\ \ddot{x} & \ddot{y} & \ddot{z} \\ \dddot{x} & \dddot{y} & \dddot{z} \end{vmatrix}}{|\boldsymbol{v}\times\boldsymbol{a}|^2} = \frac{\begin{vmatrix} -a\sin t & a\cos t & b \\ -a\cos t & -a\sin t & 0 \\ a\sin t & -a\cos t & 0 \end{vmatrix}}{(a\sqrt{a^2+b^2})^2} \quad \text{مساوات ۱۲ کی قیمتیں} \\ &= \frac{b(a^2\cos^2 t + a^2\sin^2 t)}{a^2(a^2+b^2)} \\ &= \frac{b}{a^2+b^2}\end{aligned} \tag{۱۳}$$

۱۹۵۳۹ □

۱۹۵۴۰ ہم مساوات ۱۳ سے دیکھتے ہیں کہ دائری نلکی پر پیچ دار راہ کا مروڑ مستقل ہو گا۔ درحقیقت فضا میں تمام منحنیات میں پیچ دار منحنی کی نشانی اس کی مستقل انحنا اور
۱۹۵۴۱ مستقل مروڑ ہیں۔

۱۹۵۴۲ ڈی این اے[۲۳] زندگی کا بنیادی سالمہ ہے۔ یہ دو پیچ دار حصوں پر مشتمل ہوتی ہے جو ایک دوسرے کے گرد لپٹے ہوتے ہیں۔ لپٹی صورت کی وجہ سے سالمہ بہت کم
۱۹۵۴۳ جگہ لیتی ہے اور خرابی کی صورت میں (مستقل انحنا اور مروڑ کی بنا) خراب حصہ کو سالماتی قینچی سے کاٹا جا سکتا ہے۔ سالماتی قینچی استعمال کرتے ہوئے سائنس دان
۱۹۵۴۴ امید رکھتے ہیں کہ وہ انسانیت کو ہر قسم کی بیماری سے نجات دے پائیں گے۔

۱۹۵۴۵ فضا میں منحنیات کے کلیات

[۲۳] DNA

۱۹۵۴۶

$\boldsymbol{T} = \dfrac{\boldsymbol{v}}{\lvert\boldsymbol{v}\rvert}$	اکائی مماسی سمتیہ
$\boldsymbol{N} = \dfrac{\mathrm{d}\boldsymbol{T}/\,\mathrm{d}t}{\lvert\mathrm{d}\boldsymbol{T}/\,\mathrm{d}t\rvert}$	صدر اکائی عمودی سمتیہ
$\boldsymbol{B} = \boldsymbol{T} \times \boldsymbol{N}$	دوہری عمودی سمتیہ
$\kappa = \left\lvert\dfrac{\mathrm{d}\boldsymbol{T}}{\mathrm{d}s}\right\rvert = \dfrac{\lvert\boldsymbol{v} \times \boldsymbol{a}\rvert}{\lvert\boldsymbol{v}\rvert^3}$	انحنا
$\tau = -\dfrac{\mathrm{d}\boldsymbol{B}}{\mathrm{d}s} \cdot \boldsymbol{N} = \dfrac{\begin{vmatrix} \dot{x} & \dot{y} & \dot{z} \\ \ddot{x} & \ddot{y} & \ddot{z} \\ \dddot{x} & \dddot{y} & \dddot{z} \end{vmatrix}}{\lvert\boldsymbol{v} \times \boldsymbol{a}\rvert^2}$	مروڑ
$\boldsymbol{a} = a_T\boldsymbol{T} + a_N\boldsymbol{N}$	اسراع
$a_T = \dfrac{\mathrm{d}}{\mathrm{d}t}\lvert\boldsymbol{v}\rvert$	اسراع کا مماسی جزو
$a_N = \kappa\lvert\boldsymbol{v}\rvert^2 = \sqrt{\lvert\boldsymbol{a}\rvert - a_T^2}$	اسراع کا عمودی جزو

۱۹۵۴۷ **سوالات**

۱۹۵۴۸ **مستوی منحنیات**

۱۹۵۴۹ سوال ۱۲.۱۰۹ تا سوال ۱۲.۱۱۲ میں مستوی منحنیات کا $\boldsymbol{T}$ ، $\boldsymbol{N}$ اور κ تلاش کریں۔

۱۹۵۵۰ سوال ۱۲.۱۰۹: $\boldsymbol{r}(t) = t\boldsymbol{i} + (\ln\cos t)\boldsymbol{j}, \quad -\frac{\pi}{2} < t < \frac{\pi}{2}$

۱۹۵۵۱ سوال ۱۲.۱۱۰: $\boldsymbol{r}(t) = (\ln\sec t)\boldsymbol{i} + t\boldsymbol{j}, \quad -\frac{\pi}{2} < t < \frac{\pi}{2}$

۱۹۵۵۲ سوال ۱۲.۱۱۱: $\boldsymbol{r}(t) = (2t+3)\boldsymbol{i} + (5-t^2)\boldsymbol{j}$

۱۹۵۵۳ سوال ۱۲.۱۱۲: $\boldsymbol{r}(t) = (\cos t + t\sin t)\boldsymbol{i} + (\sin t - t\cos t)\boldsymbol{j}, \quad t > 0$

۱۹۵۵۴

۱۹۵۵۵ سوال ۱۲.۱۱۳ اور سوال ۱۲.۱۱۴ میں $\boldsymbol{T}$ اور $\boldsymbol{N}$ معلوم کیے بغیر $\boldsymbol{a}$ کو $\boldsymbol{a} = a_T\boldsymbol{T} + a_N\boldsymbol{N}$ روپ میں لکھیں۔

۱۹۵۵۶ سوال ۱۲.۱۱۳: $\boldsymbol{r}(t) = (2t+3)\boldsymbol{i} + (t^2-1)\boldsymbol{j}$

۱۹۵۵۷ سوال ۱۲.۱۱۴: $\boldsymbol{r}(t) = \ln(t^2+1)\boldsymbol{i} + (t - 2\tan^{-1} t)\boldsymbol{j}$

۱۹۵۵۸ سوال ۱۲.۱۱۵: مستوی xy میں تفاعل کی ترسیم کی انحنا کا کلیہ۔

۱۹۵۵۹ ا. مستوی xy میں ترسیم $y = f(x)$ کی مقدار معلوم روپ $x = x,\ y = f(x)$ ہے اور سمتی کلیہ $\boldsymbol{r}(t) = x\boldsymbol{i} + f(x)\boldsymbol{j}$
۱۹۵۶۰ ہوگا۔ اگر f دوبار قابل تفرق ہو تب اس کلیہ کو استعمال کرتے ہوئے درج ذیل دکھائیں۔

$$\kappa(x) = \frac{|f''(x)|}{[1 + (f'(x))^2]^{3/2}}$$

۱۹۵۶۱ ب. جزو-ا میں κ کا کلیہ استعمال کرتے ہوئے $y = \ln(\cos x),\ -\frac{\pi}{2} < x < \frac{\pi}{2}$ کی انحنا تلاش کریں۔ اپنے جواب کا سوال ۱۲.۱۰۹ کے
۱۹۵۶۲ جواب کے ساتھ موازنہ کریں۔

۱۹۵۶۳ ج. دکھائیں کہ نقطہ تصریف پر انحنا صفر ہو گی۔

۱۹۵۶۴ سوال ۱۲.۱۱۶: مستوی میں مقدار معلوم روپ میں دی گئی منحنی کی انحنا کا کلیہ

۱۹۵۶۵

۱۹۵۶۶ ا. دکھائیں کہ دوبار قابل تفرق تفاعل $x = f(t)$ ، $y = g(t)$ پر مبنی ہموار منحنی $\boldsymbol{r}(t) = f(t)\boldsymbol{i} + g(t)\boldsymbol{j}$ کی انحنا درج ذیل کلیہ
۱۹۵۶۷ دیتا ہے۔

$$\kappa = \frac{|\dot{x}\ddot{y} - \dot{y}\ddot{x}|}{(\dot{x}^2 + \dot{y}^2)^{3/2}}$$

۱۹۵۶۸ اس کلیہ کو استعمال کرتے ہوئے درج ذیل منحنیات کے انحنا تلاش کریں۔

۱۹۵۶۹ ب. $\boldsymbol{r}(t) = t\boldsymbol{i} + (\ln \sin t)\boldsymbol{j}, \quad 0 < t < \pi$

۱۹۵۷۰ ج. $\boldsymbol{r}(t) = [\tan^{-1}(\sinh t)]\boldsymbol{i} + (\ln \cosh t)\boldsymbol{j}$

۱۹۵۷۱ سوال ۱۲.۱۱۷: مستوی منحنیات کے عمود

۱۹۵۷۲

۱۹۵۷۳ ا. دکھائیں کہ نقطہ $(f(t), g(t))$ پر منحنی $\boldsymbol{r}(t) = f(t)\boldsymbol{i} + g(t)\boldsymbol{j}$ کے عمودی سمتیات $\boldsymbol{n}(t) = -g'(t)\boldsymbol{i} + f'(t)\boldsymbol{j}$ اور $-n(t) = g'(t)\boldsymbol{i} - f'(t)\boldsymbol{j}$ ہیں۔ کسی مخصوص مستوی کا $\boldsymbol{N}$ تلاش کرنے کی خاطر ہم $\boldsymbol{n}$ اور $-\boldsymbol{n}$ میں جو مقعر
۱۹۵۷۵ رخ ہو کو منتخب کر کے اس سے اکائی سمتیہ حاصل کرتے ہیں (شکل ۱۲.۲۰)۔ یہ طریقہ استعمال کرتے ہوئے درج ذیل کا $\boldsymbol{N}$ تلاش کریں۔

۱۹۵۷۶ ب. $\boldsymbol{r}(t) = t\boldsymbol{i} + e^{2t}\boldsymbol{j}$

۱۹۵۷۷ ج. $\boldsymbol{r}(t) = \sqrt{4 - t^2}\boldsymbol{i} + t\boldsymbol{j}, \quad -2 \le t \le 2$

۱۹۵۷۸ سوال ۱۲.۱۱۸:

۱۹۵۷۹ ا. منحنی $\boldsymbol{r}(t) = t\boldsymbol{i} + \frac{t^3}{3}\boldsymbol{j}$ کا $\boldsymbol{N}$ وقفہ $t < 0$ اور وقفہ $t > 0$ پر سوال ۱۲.۱۱۷ کے کلیہ سے حاصل کریں۔

۱۹۵۸۰ ب. جزو-ا میں منحنی کے لئے

$$\boldsymbol{N} = \frac{\mathrm{d}\boldsymbol{T}/\,\mathrm{d}t}{|\mathrm{d}\boldsymbol{T}/\,\mathrm{d}t|}, \quad t \neq 0$$

۱۹۵۸۱ حاصل کریں۔ کیا $t = 0$ پر $\boldsymbol{N}$ موجود ہے؟ اس منحنی کو ترسیم کریں اور منفی سے مثبت جانب گزرتے ہوئے $\boldsymbol{N}$ کے رویہ پر تبصرہ کریں۔

فضائی منحنیات

سوال ۱۲.۱۱۹ تا سوال ۱۲.۱۲۶ میں فضائی منحنیات کا $\boldsymbol{T}$ ، $\boldsymbol{N}$ ، $\boldsymbol{B}$ ، κ اور τ دریافت کریں۔

سوال ۱۲.۱۱۹: $\boldsymbol{r}(t) = (3\sin t)\boldsymbol{i} + (3\cos t)\boldsymbol{j} + 4t\boldsymbol{k}$

سوال ۱۲.۱۲۰: $\boldsymbol{r}(t) = (\cos t + t\sin t)\boldsymbol{i} + (\sin t - t\cos t)\boldsymbol{j} + 3\boldsymbol{k}$

سوال ۱۲.۱۲۱: $\boldsymbol{r}(t) = (e^t\cos t)\boldsymbol{i} + (e^t\sin t)\boldsymbol{j} + 2\boldsymbol{k}$

سوال ۱۲.۱۲۲: $\boldsymbol{r}(t) = (6\sin 2t)\boldsymbol{i} + (6\cos 2t)\boldsymbol{j} + 5t\boldsymbol{k}$

سوال ۱۲.۱۲۳: $\boldsymbol{r}(t) = \frac{t^3}{3}\boldsymbol{i} + \frac{t^2}{2}\boldsymbol{j}, \quad t > 0$

سوال ۱۲.۱۲۴: $\boldsymbol{r}(t) = (\cos^3 t)\boldsymbol{i} + (\sin^3 t)\boldsymbol{j}, \quad 0 < t < \frac{\pi}{2}$

سوال ۱۲.۱۲۵: $\boldsymbol{r}(t) = t\boldsymbol{i} + (a\cosh\frac{t}{a})\boldsymbol{j}, \quad a > 0$

سوال ۱۲.۱۲۶: $\boldsymbol{r}(t) = (\cosh t)\boldsymbol{i} - (\sinh t)\boldsymbol{j} + t\boldsymbol{k}$

سوال ۱۲.۱۲۷ اور سوال ۱۲.۱۲۸ میں $\boldsymbol{T}$ اور $\boldsymbol{N}$ تلاش کیے بغیر $\boldsymbol{a}$ کو $\boldsymbol{a} = a_T\boldsymbol{T} + a_N\boldsymbol{N}$ روپ میں لکھیں۔

سوال ۱۲.۱۲۷: $\boldsymbol{r}(t) = (a\cos t)\boldsymbol{i} + (a\sin t)\boldsymbol{j} + bt\boldsymbol{k}$

سوال ۱۲.۱۲۸: $\boldsymbol{r}(t) = (1+3t)\boldsymbol{i} + (t-2)\boldsymbol{j} - 3t\boldsymbol{k}$

سوال ۱۲.۱۲۹ اور سوال ۱۲.۱۳۲ میں $\boldsymbol{T}$ اور $\boldsymbol{N}$ تلاش کیے بغیر، دیے گئے t پر $\boldsymbol{a}$ کو $\boldsymbol{a} = a_T\boldsymbol{T} + a_N\boldsymbol{N}$ روپ میں لکھیں۔

سوال ۱۲.۱۲۹: $\boldsymbol{r}(t) = (t+1)\boldsymbol{i} + 2t\boldsymbol{j} + t^2\boldsymbol{k}, \quad t = 1$

سوال ۱۲.۱۳۰: $\boldsymbol{r}(t) = (t\cos t)\boldsymbol{i} + (t\sin t)\boldsymbol{j} + t^2\boldsymbol{k}, \quad t = 0$

سوال ۱۲.۱۳۱: $\boldsymbol{r}(t) = t^2\boldsymbol{i} + (t + \frac{t^3}{3})\boldsymbol{j} + (t - \frac{t^3}{3})\boldsymbol{k}, \quad t = 0$

سوال ۱۲.۱۳۲: $\boldsymbol{r}(t) = (e^t\cos t)\boldsymbol{i} + (e^t\sin t)\boldsymbol{j} + \sqrt{2}e^t\boldsymbol{k}, \quad t = 0$

سوال ۱۲.۱۳۳ اور سوال ۱۲.۱۳۴ میں دیے گئے $\boldsymbol{r}$ پر $\boldsymbol{T}$ ، $\boldsymbol{N}$ اور $\boldsymbol{B}$ معلوم کریں۔ اس کے بعد در پیچیدہ مستوی، عمودی مستوی اور سمت کار مستوی کی مساوات اس t پر حاصل کریں۔

سوال ۱۲.۱۳۳: $\boldsymbol{r}(t) = (\cos t)\boldsymbol{i} + (\sin t)\boldsymbol{j} - \boldsymbol{k}, \quad t = \frac{\pi}{4}$

سوال ۱۲.۱۳۴: $\boldsymbol{r}(t) = (\cos t)\boldsymbol{i} + (\sin t)\boldsymbol{j} + t\boldsymbol{k}, \quad t = 0$

طبعی استعمال

سوال ۱۲.۱۳۵: آپ کی گاڑی کا رفتار پیمایہ برقرار $60\,\mathrm{km\,h^{-1}}$ دکھا رہا ہے۔ کیا آپ کی اسراع ممکن ہے؟ جواب کی وجہ پیش کریں۔

سوال ۱۲.۱۳۶: کیا مستقل رفتار سے چلتے ہوئے ذرہ کی اسراع کے بارے میں کچھ کہنا ممکن ہو گا؟ اپنے جواب کی وجہ پیش کریں۔

سوال ۱۲.۱۳۷: ایک ذرہ کی اسراع پر لحہ اس کی سمتی رفتار کے عمودی ہے۔ اس کی رفتار کے بارے میں کیا کہنا ممکن ہے؟ اپنے جواب کی وجہ پیش کریں۔

سوال ۱۲.۱۳۸: ایک جسم جس کی کمیت m ہے قطع مکافی $y = x^2$ پر مستقل رفتار $10\,\mathrm{m\,s^{-1}}$ سے حرکت کرتا ہے۔ نقطہ $(0,0)$ اور نقطہ $(\sqrt{2},2)$ پر اسراع کی بدولت اس پر کتنی قوت ہو گی؟ اپنا جواب $\boldsymbol{i}$ اور $\boldsymbol{j}$ کی روپ میں لکھیں۔ (نیوٹن کا کلیہ $\boldsymbol{F} = m\boldsymbol{a}$ ذہن میں رکھیں۔)

سوال ۱۲.۱۳۹: ایک منحنی پر کسی جسم کو مستقل رفتار سے حرکت دینے کے لئے درکار قوت، قوانین نیوٹن کے تحت، حرکت کی انحنا کی مستقل مضرب ہو گی۔ حساب سے دکھائیں کہ یہ فقرہ کیوں درست ہے۔

سوال ۱۲.۱۴۰: دکھائیں اگر ایک ذرے کی اسراع کا عمودی جزو صفر ہو تب یہ متحرک ذرہ سیدھا حرکت کرے گا۔

انحنا پر مزید سوالات

سوال ۱۲.۱۴۱: دکھائیں کہ قطع مکافی $y = ax^2,\ a \neq 0$ کی زیادہ سے زیادہ انحنا راس کی راس پر ہو گی جبکہ کسی بھی نقطہ پر کم سے کم انحنا نہیں ہو گی۔ (چونکہ منحنی کو فضا میں ایک جگہ سے دوسری جگہ منتقل کرنے یا گھمانے سے انحنا تبدیل نہیں ہوتی لہٰذا یہ حقیقت کسی بھی قطع مکافی کے لئے درست ہو گا۔)

سوال ۱۲.۱۴۲: دکھائیں کہ ترخیم $x = a\cos t,\ y = b\sin t,\ a > b > 0$ کا زیادہ سے زیادہ انحنا اس کے محور اکبر پر اور کم سے کم انحنا اس کے محور اصغر پر ہو گا۔ (گزشتہ سوال کی طرح یہ حقیقت بھی ہر ترخیم کے لئے درست ہو گی۔)

سوال ۱۲.۱۴۳: پیچ دار منحنی کی زیادہ سے زیادہ انحنا

ہم نے مثال ۱۲.۲۱ میں دیکھا کہ پیچ دار $\boldsymbol{r}(t) = (a\cos t)\boldsymbol{i} + (a\sin t)\boldsymbol{j} + bt\boldsymbol{k},\ (a,b \geq 0)$ کی انحنا $\kappa = \frac{a}{a^2+b^2}$ ہو گی۔ کسی بھی b کے لئے زیادہ سے زیادہ انحنا کتنی ہو گی؟ اپنی جواب کی وجہ پیش کریں۔

سوال ۱۲.۱۴۴: اگر آپ کو $|a_N|$ اور $|\boldsymbol{v}|$ معلوم ہوں تب کلیہ $a_N = \kappa|\boldsymbol{v}|^2$ سے انحنا حاصل کی جا سکتی ہے۔ اس کلیہ کو استعمال کرتے ہوئے درج ذیل منحنی کی انحنا اور رداس انحنا دریافت کریں۔ (a_N اور $|\boldsymbol{v}|$ کی قیمتیں مثال ۱۲.۲۳ سے لیں۔)

$$\boldsymbol{r}(t) = (\cos t + t\sin t)\boldsymbol{i} + (\sin t - t\cos t)\boldsymbol{j}, \quad t > 0$$

سوال ۱۲.۱۴۵: دکھائیں کہ درج ذیل خط کے لئے κ اور τ صفر ہوں گے۔

$$\boldsymbol{r}(t) = (x_0 + At)\boldsymbol{i} + (y_0 + Bt)\boldsymbol{j} + (z_0 + Ct)\boldsymbol{k}$$

سوال ۱۲.۱۴۶: مکمل انحنا

ہم ایک منحنی پر $s = s_0$ سے $s = s_1 > s_0$ تک حصہ کی مکمل انحنا حاصل کرنے کی خاطر s_0 تا s_1 انحنا κ کا تکمل لیتے ہیں۔ اگر منحنی کا متغیر s

کے بجائے t ہو تب مکمل انحنا درج ذیل ہو گی، جہاں s_0 اور s_1 کے مطابق قیمتیں t_0 اور t_1 ہیں۔

$$K = \int_{s_0}^{s_1} \kappa \, \mathrm{d}s = \int_{t_0}^{t_1} \kappa \frac{\mathrm{d}s}{\mathrm{d}t} \, \mathrm{d}t = \int_{t_0}^{t_1} \kappa |\boldsymbol{v}| \, \mathrm{d}t$$

وقفہ $0 \leq t \leq 4\pi$ پر پیچ دار منحنی $\boldsymbol{r}(t) = (3\cos t)\boldsymbol{i} + (3\sin t)\boldsymbol{j} + t\boldsymbol{k}$ کی مکمل انحنا معلوم کریں۔

سوال ۱۲.۱۴۷: گزشتہ سوال جاری

درج ذیل منحنیات کی مکمل انحنا دریافت کریں۔

ا. $\boldsymbol{r}(t) = (\cos t + t\sin t)\boldsymbol{i} + (\sin t - t\cos t)\boldsymbol{j},\ a \leq t \leq b\ (a > 0)$ (انحنا معلوم کرنے کا آسان طریقہ سوال ۱۲.۱۴۴ میں پیش کیا گیا ہے۔ مثال ۱۲.۲۳ کی قیمتیں استعمال کریں۔)

ب. $y = x^2, \quad -\infty < x < \infty =$

سوال ۱۲.۱۴۸:

ا. نقطہ $(\frac{\pi}{2}, 1)$ پر منحنی $\boldsymbol{r}(t) = t\boldsymbol{i} + (\sin t)\boldsymbol{j}$ کے دائرہ انحنا کی مساوات تلاش کریں۔ (یہ مستوی xy میں $y = \sin x$ کی مقدار معلوم روپ ہے۔)

ب. نقطہ $(0, -2)$ جہاں $t = 1$ ہے پر منحنی $\boldsymbol{r}(t) = (2\ln t)\boldsymbol{i} - (t + \frac{1}{t})\boldsymbol{j},\ e^{-2} \leq t \leq e^2$ کے دائرہ انحنا کی مساوات تلاش کریں۔

نظریہ اور مثالیں

سوال ۱۲.۱۴۹: مستوی منحنی $\boldsymbol{r}(t) = f(t)\boldsymbol{i} + g(t)\boldsymbol{j}$ جو کافی قابل تفرق ہو کی مروڑ کے بارے میں کیا کہا جا سکتا ہے؟ اپنے جواب کی وجہ پیش کریں۔

سوال ۱۲.۱۵۰: پیچ دار کی مروڑ

ہم نے مثال ۱۲.۲۴ میں دیکھا کہ پیچ دار

$$\boldsymbol{r}(t) = (a\cos t)\boldsymbol{i} + (a\sin t)\boldsymbol{j} + bt\boldsymbol{k}, \quad a, b \geq 0$$

کی انحنا $\frac{b}{a^2+b^2}$ ہے۔ کسی مستقل a کے لئے τ کی زیادہ سے زیادہ قیمت کیا ہو گی؟ اپنے جواب کی وجہ پیش کریں۔

سوال ۱۲.۱۵۱: صفر مروڑ کی قابل تفرق منحنیات مستویات میں پائی جاتی ہیں۔

صفر مروڑ کی قابل تفرق منحنیات مستویات میں پائی جاتی ہیں۔ یہ اس حقیقت کی ایک مخصوص صورت ہے کہ ایک ذرہ جس کی سمتی رفتار کسی مقررہ سمتیہ $\boldsymbol{C}$ کی عمودی ہو، ایسی مستوی میں حرکت کرتا ہے جو C کو عمودی ہو گا، اور یہ حقیقت از خود درج ذیل مسئلہ کا حل ہے۔

فرض کریں وقفہ $[a, b]$ میں تمام t پر $\boldsymbol{r}(t) = f(t)\boldsymbol{i} + g(t)\boldsymbol{j} + h(t)\boldsymbol{k}$ دوبار قابل تفرق ہو، اور $t = a$ پر $\boldsymbol{r} = 0$ ہو اور $[a, b]$ میں تمام t پر $\boldsymbol{v} \cdot \boldsymbol{k} = 0$ ہو تب $[a, b]$ میں تمام t پر $h(t) = 0$ ہو گا۔

اس مسئلہ کو حل کریں۔ (اشارہ: اسراع $\boldsymbol{a} = \frac{\mathrm{d}^2\boldsymbol{r}}{\mathrm{d}t^2}$ سے شروع کریں اور ابتدائی معلومات الٹ رخ لاگو کریں۔)

سوال ۱۲.۱۵۲: ایک کلیہ جو $\boldsymbol{B}$ اور $\boldsymbol{v}$ سے τ حاصل کرتا ہے

اگر ہم تعریف $\tau = -\frac{\mathrm{d}\boldsymbol{B}}{\mathrm{d}s} \cdot \boldsymbol{N}$ سے شروع کر کے $\frac{\mathrm{d}\boldsymbol{B}}{\mathrm{d}s}$ کو زنجیری قاعدہ سے

$$\frac{\mathrm{d}\boldsymbol{B}}{\mathrm{d}s} = \frac{\mathrm{d}\boldsymbol{B}}{\mathrm{d}t}\frac{\mathrm{d}t}{\mathrm{d}s} = \frac{\mathrm{d}\boldsymbol{B}}{\mathrm{d}t}\frac{1}{|\boldsymbol{v}|}$$

لکھیں تب ہمیں درج ذیل کلیہ حاصل ہو گا۔

$$\tau = -\frac{1}{|\boldsymbol{v}|}\left(\frac{\mathrm{d}\boldsymbol{B}}{\mathrm{d}t} \cdot \boldsymbol{N}\right)$$

یہ کلیہ استعمال میں، اخذ کرنے میں اور بیان کرنے میں مساوات ۱۱ سے زیادہ آسان ہے۔ اس میں قباحت یہ ہے کہ کمپیوٹر کے بغیر اسے استعمال کرنے میں بہت زیادہ کام کرنا ہو گا۔ اس کلیہ کو استعمال کرتے ہوئے مثال ۱۲.۲۴ میں پیچ دار کی مروڑ تلاش کریں۔

کمپیوٹر کا استعمال مروڑ کا کلیہ

$$\kappa(x) = \frac{|f''(x)|}{[1 + (f'(x))^2]^{3/2}}$$

جسے ہم نے سوال ۱۲.۱۱۵ میں اخذ کیا، دو بار قابل تفرق مستوی منحنی $y = f(x)$ کی انحنا κ کو x کا تفاعل دیتا ہے۔ سوال ۱۲.۱۵۳ تا سوال ۱۲.۱۵۶ میں دی گئی منحنیات کا تفاعل انحنا تلاش کریں۔ اس کے بعد دیے گئے وقفہ پر $\kappa(x)$ اور $f(x)$ کو ترسیم کریں۔ آپ چند دلچسپ حقائق دیکھیں گے۔

سوال ۱۲.۱۵۳: $y = x^2, \quad -2 \le x \le 2$

سوال ۱۲.۱۵۴: $y = \frac{x^4}{4}, \quad -2 \le x \le 2$

سوال ۱۲.۱۵۵: $y = \sin x, \quad 0 \le x \le 2\pi$

سوال ۱۲.۱۵۶: $y = e^x, \quad -1 \le x \le 2$

دائرہ انحنا

سوال ۱۲.۱۵۷ تا سوال ۱۲.۱۶۴ میں کمپیوٹر استعمال کرتے ہوئے مستوی منحنی میں نقطہ P پر، جہاں $\kappa \neq 0$ ہو، دائرہ انحنا پر غور کریں گے۔ کمپیوٹر استعمال کرتے ہوئے درج ذیل اقدام کریں۔

ا. دی گئی مستوی منحنی کی صورت دیکھنے کی خاطر دیے گئے وقفہ پر منحنی ترسیم کریں۔

ب. دیے گئے نقطہ t_0 پر منحنی کی انحنا κ کی قیمت سوال ۱۲.۱۱۵ یا سوال ۱۲.۱۱۶ میں دیے کلیہ سے معلوم کریں۔ اگر منحنی بطور تفاعل $y = f(x)$ دی گئی ہو تب اس کی مقدار معلوم روپ $x = t,\ y = f(t)$ استعمال کریں۔

ج. نقطہ t_0 پر اکائی عمودی سمتیہ $\boldsymbol{N}$ تلاش کریں۔ دھیان رہے کہ t_0 پر اکائی مماسی سمتیہ $\boldsymbol{T}$ کا گھڑی کے رخ یا گھڑی کے مخالف رخ گھومنا، $\boldsymbol{N}$ کے اجزاء کی علامتیں تعین کرتا ہے (سوال ۱۲.۱۱۷)۔

۱۹۶۷۹ د. اگر مبدا سے دائرہ انحنا کے مرکز (a, b) تک سمتیہ $\boldsymbol{C} = a\boldsymbol{i} + b\boldsymbol{j}$ ہو تب مرکز $\boldsymbol{C}$ درج ذیل سمتی مساوات سے معلوم کریں۔

$$\boldsymbol{C} = \boldsymbol{r}(t_0) + \frac{1}{\kappa(t_0)}\boldsymbol{N}(t_0)$$

۱۹۶۸۰ منحنی پر نقطہ $P(x_0, y_0)$ تعین گر سمتیہ $\boldsymbol{r}(t_0)$ دیتا ہے۔

۱۹۶۸۱ ھ. دائرہ انحنا کی خفی مساوات $(y-b)^2 + (x-a)^2 = \frac{1}{\kappa^2}$ ترسیم کریں۔ اس کے بعد منحنی اور دائرہ انحنا کو اکٹھے ترسیم کریں۔ (قابل دید
۱۹۶۸۲ ترسیمات حاصل کرنے کی خاطر افقی اور انتصابی پیمائش برابر رکھتے ہوئے، آپ کو مختلف وقفوں پر ترسیم کرنا پڑ سکتا ہے۔)

۱۹۶۸۳ سوال ۱۲.۱۵۷: $\boldsymbol{r}(t) = (3\cos t)\boldsymbol{i} + (5\sin t)\boldsymbol{j}, \quad 0 \le t \le 2\pi, \quad t_0 = \frac{\pi}{4}$

۱۹۶۸۴ سوال ۱۲.۱۵۸: $\boldsymbol{r}(t) = (\cos^3 t)\boldsymbol{i} + (\sin^3 t)\boldsymbol{j}, \quad 0 \le t \le 2\pi, \quad t_0 = \frac{\pi}{4}$

۱۹۶۸۵ سوال ۱۲.۱۵۹: $\boldsymbol{r}(t) = t^2\boldsymbol{i} + (t^3 - 3t)\boldsymbol{j}, \quad -4 \le t \le 4, \quad t_0 = \frac{3}{5}$

۱۹۶۸۶ سوال ۱۲.۱۶۰: $\boldsymbol{r}(t) = (t^3 - 2t^2 - t)\boldsymbol{i} + \frac{3t}{\sqrt{1+t^2}}\boldsymbol{j}, \quad -2 \le t \le 5, \quad t_0 = 1$

۱۹۶۸۷ سوال ۱۲.۱۶۱: $\boldsymbol{r}(t) = (2t - \sin t)\boldsymbol{i} + (2 - 2\cos t)\boldsymbol{j}, \quad 0 \le t \le 3\pi, \quad t_0 = \frac{3\pi}{2}$

۱۹۶۸۸ سوال ۱۲.۱۶۲: $\boldsymbol{r}(t) = (e^{-t}\cos t)\boldsymbol{i} + (e^{-t}\sin t)\boldsymbol{j}, \quad 0 \le t \le 6\pi, \quad t_0 = \frac{\pi}{4}$

۱۹۶۸۹ سوال ۱۲.۱۶۳: $y = x^2 - x, \quad -2 \le x \le 5, \quad x_0 = 1$

۱۹۶۹۰ سوال ۱۲.۱۶۴: $y = x(1-x)^{2/5}, \quad -1 \le x \le 2, \quad x_0 = \frac{1}{2}$

۱۹۶۹۱

۱۹۶۹۲ **انحنا، مروڑ اور TNB چوکھٹے**

۱۹۶۹۳ سوال ۱۲.۱۶۵ تا سوال ۱۲.۱۶۸ میں کمپیوٹر استعمال کرتے ہوئے دیے گئے نقطہ t پر چار اعشاریہ درستگی تک $\boldsymbol{v}$ ، $\boldsymbol{a}$ ، رفتار، $\boldsymbol{T}$ ، $\boldsymbol{N}$ ، $\boldsymbol{B}$ ، κ ، τ
۱۹۶۹۴ اور اسراع کے مماسی اور عمودی اجزاء تلاش کریں۔

۱۹۶۹۵ سوال ۱۲.۱۶۵: $\boldsymbol{r}(t) = (t\cos t)\boldsymbol{i} + (t\sin t)\boldsymbol{j} + t\boldsymbol{k}, \quad t = \sqrt{3}$

۱۹۶۹۶ سوال ۱۲.۱۶۶: $\boldsymbol{r}(t) = (e^t\cos t)\boldsymbol{i} + (e^t\sin t)\boldsymbol{j} + e^t\boldsymbol{k}, \quad t = \ln 2$

۱۹۶۹۷ سوال ۱۲.۱۶۷: $\boldsymbol{r}(t) = (t - \sin t)\boldsymbol{i} + (1 - \cos t)\boldsymbol{j} + \sqrt{-t}\boldsymbol{k}, \quad t = -3\pi$

۱۹۶۹۸ سوال ۱۲.۱۶۸: $\boldsymbol{r}(t) = (3t - t^2)\boldsymbol{i} + (3t^2)\boldsymbol{j} + (3t + t^3)\boldsymbol{k}, \quad t = 1$

۱۹۶۹۹

۱۹۷۰۰

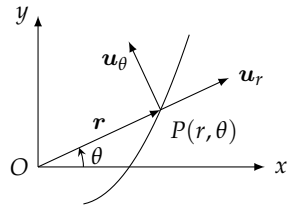

شکل ۱۲.۲۸: نقطہ P کا قطبی محدد r سمتیہ $\boldsymbol{r}$ کی مقدار ہو گی۔ یوں $\boldsymbol{u}_r$، جو $\frac{\boldsymbol{r}}{|\boldsymbol{r}|}$ ہے $\frac{\boldsymbol{r}}{r}$ ہو گا۔

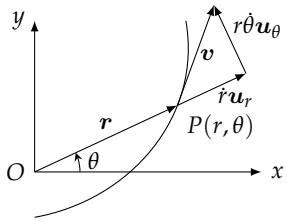

شکل ۱۲.۲۹: قطبی محدد میں سمتی رفتار سمتیہ $\boldsymbol{v} = \dot{r}\boldsymbol{u}_r + r\dot{\theta}\boldsymbol{u}_\theta$ ہو گا۔

۱۲.۵ فلکی سیاروں اور مصنوعی سیاروں کی حرکت

اس حصہ میں ہم قوانین نیوٹن اور قوت کشش کی مدد سے سیاروں کی حرکت کے قوانین کپلر اخذ کریں گے اور زمین کے گرد مصنوعی سیاروں کے مدار پر بحث کریں گے۔ قوانین نیوٹن سے قوانین کپلر کا حصول احصاء کی اہم کامیابی ہے۔ اس میں وہ سب کچھ درکار ہو گا جو ہم نے اب تک پڑھا ہے جیسا فضا میں سمتیات کا الجبرا اور جیومیٹری، سمتی تفاعل کا احصاء، تفرقی مساوات کے حل، ابتدائی قیمت مسائل اور ترخیمی حصوں کی قطبی محددی تشریح۔

قطبی اور نلکی محدد میں حرکت کی سمتی مساواتیں

ہم یہاں قطبی محدد کو r ، θ اور نلکی محدد کو r ، θ ، z لکھیں گے۔ ایک ذرہ قطبی محددی مستوی میں حرکت کرتا ہو، ہم اس کے مقام، سمتی رفتار اور اسراع کو متحرک اکائی سمتیات

$$\boldsymbol{u}_r = (\cos\theta)\boldsymbol{i} + (\sin\theta)\boldsymbol{j}, \quad \boldsymbol{u}_\theta = -(\sin\theta)\boldsymbol{i} + (\cos\theta)\boldsymbol{j} \tag{۱}$$

کی روپ میں لکھتے ہیں (شکل ۱۲.۲۸)۔ اکائی سمتیہ $\boldsymbol{u}_r$ کا رخ سمتیہ $\overrightarrow{OP}$ کے رخ ہے لہٰذا $\boldsymbol{r} = r\boldsymbol{u}_r$ ہو گا۔ اکائی سمتیہ $\boldsymbol{u}_\theta$ بڑھتے θ کے رخ یعنی سمتیہ $\boldsymbol{u}_r$ کو عمودی ہے۔

مساوات اسے ہمیں درج ذیل ملتے ہیں۔

$$\begin{aligned}\frac{\mathrm{d}\boldsymbol{u}_r}{\mathrm{d}\theta} &= -(\sin\theta)\boldsymbol{i} + (\cos\theta)\boldsymbol{j} = \boldsymbol{u}_\theta\\ \frac{\mathrm{d}\boldsymbol{u}_\theta}{\mathrm{d}\theta} &= -(\cos\theta)\boldsymbol{i} - (\sin\theta)\boldsymbol{j} = -\boldsymbol{u}_r\end{aligned} \tag{۲}$$

ہم وقت کے لحاظ سے $\boldsymbol{u}_r$ اور $\boldsymbol{u}_\theta$ کی تبدیلی دیکھنے کی خاطر ان کا تفرق t کے لحاظ سے زنجیری قاعدہ سے حاصل کرتے ہیں۔

$$\dot{\boldsymbol{u}}_r = \frac{\mathrm{d}\boldsymbol{u}_r}{\mathrm{d}\theta}\dot{\theta} = \dot{\theta}\boldsymbol{u}_\theta, \quad \dot{\boldsymbol{u}}_\theta = \frac{\mathrm{d}\boldsymbol{u}_\theta}{\mathrm{d}\theta}\dot{\theta} = -\dot{\theta}\boldsymbol{u}_r \tag{۳}$$

یوں سمتی رفتار (شکل ۱۲.۲۹)

$$\boldsymbol{v} = \dot{\boldsymbol{r}} = \frac{\mathrm{d}}{\mathrm{d}t}(r\boldsymbol{u}_r) = \dot{r}\boldsymbol{u}_r + r\dot{\boldsymbol{u}}_r = \dot{r}\boldsymbol{u}_r + r\dot{\theta}\boldsymbol{u}_\theta \tag{۴}$$

۱۹۷۱۳ اور اسراع درج ذیل ہو گا۔

$$\boldsymbol{a} = \dot{\boldsymbol{v}} = (\ddot{r}\boldsymbol{u}_r + \dot{r}\dot{\boldsymbol{u}}_r) + (\dot{r}\dot{\theta}\boldsymbol{u}_\theta + r\ddot{\theta}\boldsymbol{u}_\theta + r\dot{\theta}\dot{\boldsymbol{u}}_\theta) \tag{۵}$$

۱۹۷۱۴ جب $\dot{\boldsymbol{u}}_r$ اور $\dot{\boldsymbol{u}}_\theta$ کے حصول کے لئے مساوات ۱۳ استعمال کیا جائے اور اجزاء کو علیحدہ کیے جائیں تب اسراع کی مساوات درج ذیل صورت اختیار کرتی ہے۔

$$\boldsymbol{a} = (\ddot{r} - r\dot{\theta}^2)\boldsymbol{u}_r + (r\ddot{\theta} + 2\dot{r}\dot{\theta})\boldsymbol{u}_\theta \tag{۶}$$

۱۹۷۱۵ ہم مساوات $\boldsymbol{r} = r\boldsymbol{u}_r$ کے دائیں ہاتھ جزو $z\boldsymbol{k}$ جمع کر کے ان مساواتوں کو وسعت دے کر فضا میں حرکت کے لئے قابل استعمال بنا سکتے ہیں۔ یوں نکلی
۱۹۷۱۶ محدد میں درج ذیل ہوں گے۔

$$\begin{aligned}
\boldsymbol{r} &= r\boldsymbol{u}_r + z\boldsymbol{k} \\
\boldsymbol{v} &= \dot{r}\boldsymbol{u}_r + r\dot{\theta}\boldsymbol{u}_\theta + \dot{z}\boldsymbol{k} \\
\boldsymbol{a} &= (\ddot{r} - r\dot{\theta}^2)\boldsymbol{u}_r + (r\ddot{\theta} + 2\dot{r}\dot{\theta})\boldsymbol{u}_\theta + \ddot{z}\boldsymbol{k}
\end{aligned} \tag{۷}$$

۱۹۷۱۷ دھیان رہے کہ $z \neq 0$ کی صورت میں $|\boldsymbol{r}| = r$ ہو گا۔

۱۹۷۱۸ سمتیات $\boldsymbol{u}_r$ ، $\boldsymbol{u}_\theta$ اور $\boldsymbol{k}$ دایاں ہاتھ چوکھٹ دیتے ہیں جس میں درج ذیل ہوں گے (شکل ۱۲.۳۰)۔

$$\boldsymbol{u}_r \times \boldsymbol{u}_\theta = \boldsymbol{k}, \quad \boldsymbol{u}_\theta \times \boldsymbol{k} = \boldsymbol{u}_r, \quad \boldsymbol{k} \times \boldsymbol{u}_r = \boldsymbol{u}_\theta \tag{۸}$$

۱۹۷۱۹ سیارے مستوی میں حرکت کرتے ہیں

۱۹۷۲۰ نیوٹن کا قانون تجاذب کہتا ہے کہ اگر سورج کی کمیت M ، سیارہ کی کمیت m اور سورج کے کمیتی مرکز سے سیارہ کے کمیتی مرکز تک رداس سمتیہ $\boldsymbol{r}$ ہو تب
۱۹۷۲۱ سیارہ اور سورج کے بیچ قوت کشش $\boldsymbol{F}$ درج ذیل ہو گا (شکل ۱۲.۳۱) جہاں G (عالمگیر) **تجاذبی مستقل**[۲۴] کہلاتا ہے۔

$$\boldsymbol{F} = -\frac{GMm}{|\boldsymbol{r}|^2}\frac{\boldsymbol{r}}{|\boldsymbol{r}|} \tag{۹}$$

۱۹۷۲۲ اگر قوت کی اکائی نیوٹن، کمیت کی اکائی کلو گرام اور فاصلہ کی اکائی میٹر ہو تب $G = 6.6720 \times 10^{-11}\,\mathrm{N\,m^2\,kg^{-2}}$ ہو گا۔ نیوٹن کے
۱۹۷۲۳ دوسرے قانون $\boldsymbol{F} = m\ddot{\boldsymbol{r}}$ کو مساوات ۹ کے ساتھ ملا کر

$$\begin{aligned}
m\ddot{\boldsymbol{r}} &= -\frac{GMm}{|\boldsymbol{r}|^2}\frac{\boldsymbol{r}}{|\boldsymbol{r}|} \\
\ddot{\boldsymbol{r}} &= -\frac{GM}{|\boldsymbol{r}|^2}\frac{\boldsymbol{r}}{|\boldsymbol{r}|}
\end{aligned} \tag{۱۰}$$

۱۹۷۲۴ حاصل ہو گا۔ سیارہ ہر لمحہ سورج کی جانب اسراع پذیر ہے۔

---

[۲۴] gravitationalconstant

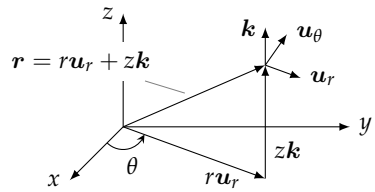

شکل ۱۲.۳۰: نلکی محدد میں تعین گر سمتیہ اور بنیادی اکائی سمتیات

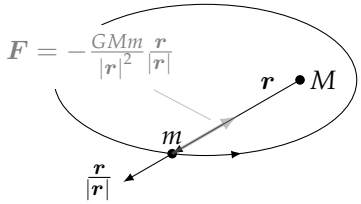

شکل ۱۲.۳۱: قوت کشش دونوں کمیتوں کے بیچ سیدھے خط پر ہو گا۔

۱۹۷۲۵ مساوات ۱۰ کہتی ہے کہ $\boldsymbol{r}$ کا غیر سمتی مضرب $\ddot{\boldsymbol{r}}$ ہے لہٰذا

$$\boldsymbol{r} \times \ddot{\boldsymbol{r}} = \boldsymbol{0} \tag{۱۱}$$

۱۹۷۲۶ ہو گا۔ ہم دیکھتے ہیں کہ $\boldsymbol{r} \times \ddot{\boldsymbol{r}}$ از خود $\boldsymbol{r} \times \dot{\boldsymbol{r}}$ کا تفرق ہے:

$$\frac{\mathrm{d}}{\mathrm{d}t}(\boldsymbol{r} \times \dot{\boldsymbol{r}}) = \underbrace{\dot{\boldsymbol{r}} \times \dot{\boldsymbol{r}}}_{\boldsymbol{0}} + \boldsymbol{r} \times \ddot{\boldsymbol{r}} = \boldsymbol{r} \times \ddot{\boldsymbol{r}} \tag{۱۲}$$

۱۹۷۲۷ یوں مساوات ۱۱ درج ذیل کا معادل ہے

$$\frac{\mathrm{d}}{\mathrm{d}t}(\boldsymbol{r} \times \dot{\boldsymbol{r}}) = \boldsymbol{0} \tag{۱۳}$$

۱۹۷۲۸ جس کا تکمل

$$\boldsymbol{r} \times \dot{\boldsymbol{r}} = \boldsymbol{C} \tag{۱۴}$$

۱۹۷۲۹ ہے جہاں $\boldsymbol{C}$ مستقل سمتیہ ہے۔

۱۹۷۳۰ ہمیں مساوات ۱۴ بتاتی ہے کہ $\boldsymbol{r}$ اور $\dot{\boldsymbol{r}}$ ہر لمحہ ایک ایسے مستوی میں ہوں گے جو $\boldsymbol{C}$ کو عمودی ہو گا۔ یوں سورج کے مرکز سے گزرتی مستوی میں سیارے
۱۹۷۳۱ حرکت کرتے ہیں (شکل ۱۲.۳۲)۔

۱۹۷۳۲ محدد اور ابتدائی معلومات

۱۹۷۳۳ ہم نلکی محدد کے مرکز کو سورج کے کمیتی مرکز پر رکھتے ہیں اور سیارے کی حرکت کو قطبی محددی سطح لیتے ہیں۔ یوں $\boldsymbol{r}$ سیارے کا تعین گر سمتیہ ہو گا۔ یوں
۱۹۷۳۴ $|\boldsymbol{r}| = r$ اور $\frac{\boldsymbol{r}}{|\boldsymbol{r}|} = \boldsymbol{u}_r$ ہوں گے۔ ہم $\boldsymbol{C}$ کو محور z پر رکھتے ہیں لہٰذا $\boldsymbol{C}$ کا رخ $\boldsymbol{k}$ ہو گا۔ یوں $\boldsymbol{k}$ کا $\boldsymbol{r} \times \dot{\boldsymbol{r}}$ کے ساتھ وہی دائیں ہاتھ کا
۱۹۷۳۵ تعلق ہو گا جو اس کے ساتھ $\boldsymbol{C}$ کا ہے اور مثبت z محور سے دیکھتے ہوئے سیارہ گھڑی کے مخالف رخ گھومے گا۔ اس طرح t بڑھنے سے θ بڑھے گا لہٰذا تمام
۱۹۷۳۶ t کے لئے $\dot{\theta} > 0$ ہو گا۔ ہم اس لمحہ کو ابتدائی لمحہ منتخب کرتے ہیں جب سیارہ سورج کے قریب ترین ہو اور نلکی محدد کو (اگر ضرورت ہو) محور z کے گرد
۱۹۷۳۷ یوں گھماتے ہیں کہ ابتدائی لمحہ پر $\boldsymbol{r}$ اور ابتدائی شعاع ہم مکان ہوں۔ یوں ابتدائی شعاع سیارے کے **حضیض شمس**[۲۵] سے گزرے گا (شکل ۱۲.۳۳)۔

---

[۲۵] perihelion

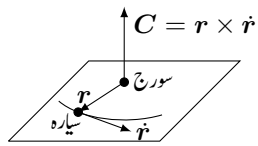

شکل ۱۲.۳۲: سورج کے گرد سیارہ اس مستوی میں حرکت کرتا ہے جو $\boldsymbol{C} = \boldsymbol{r} \times \dot{\boldsymbol{r}}$ کو عمودی ہو اور سورج کے کمیتی مرکز سے گزرتا ہے۔

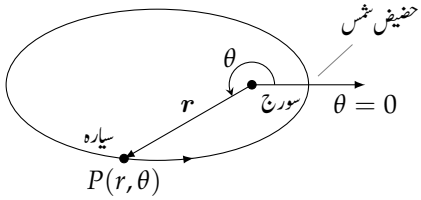

شکل ۱۲.۳۳: حرکت سیارہ کا محددی نظام۔اوپر سے دیکھتے ہوئے حرکت، $\dot{\theta} > 0$ کی بنا، گھڑی کے مخالف رخ ہے۔

۱۹۷۳۸ اگر ہم وقت کی پیمائش یوں کریں کہ حضیض شمسی پر $t = 0$ ہو تب سیارے کی حرکت کی ابتدائی معلومات درج ذیل ہوں گی۔

۱۹۷۳۹ ا. لمحہ $t = 0$ پر $r = r_0$ ہو گا جو کم سے کم رداس ہے،

۱۹۷۴۰ ب. لمحہ $t = 0$ پر (r کی قیمت کم سے کم ہونے کی بنا) $\dot{r} = 0$ ہو گا،

۱۹۷۴۱ ج. لمحہ $t = 0$ پر $\theta = 0$ ہو گا،

۱۹۷۴۲ د. لمحہ $t = 0$ پر $|\boldsymbol{v}| = v_0$ ہو گا۔

۱۹۷۴۳ مزید

$$
\begin{aligned}
v_0 &= |\boldsymbol{v}|_{t=0} \\
&= \left|\dot{r}\boldsymbol{u}_r + r\dot{\theta}\boldsymbol{u}_\theta\right|_{t=0} && \text{مساوات ۴} \\
&= \left|r\dot{\theta}\boldsymbol{u}_\theta\right|_{t=0} && \dot{r} = 0 \text{ پر } t = 0 \\
&= (\left|r\dot{\theta}\right| |\boldsymbol{u}_\theta|)_{t=0} \\
&= \left|r\dot{\theta}\right|_{t=0} && |\boldsymbol{u}_\theta| = 1 \\
&= (r\dot{\theta})_{t=0} && r \text{ اور } \dot{\theta} \text{ دونوں مثبت ہیں}
\end{aligned}
$$

۱۹۷۴۴ کی وجہ سے ہم درج ذیل بھی جانتے ہیں۔

۱۹۷۴۵ ھ. لمحہ $t = 0$ پر $r\dot{\theta} = v_0$ ہو گا۔

۱۹۷۴۶ کپلر کا پہلا قانون (قانون مخروط حصہ)

۱۹۷۴۷ کپلر کا پہلا قانون کہتا ہے کہ سیارے کی حرکت مخروطی ہے جس کے ایک ماسکہ پر سورج پایا جاتا ہے۔اس مخروط کی سنک

$$e = \frac{r_0 v_0^2}{GM} - 1 \tag{۱۵}$$

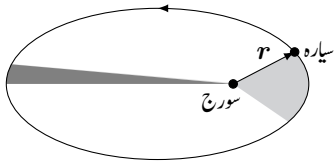

شکل ۱۲.۳۴: سورج اور سیارہ کے بیچ سیدھی لکیر مساوی اوقات میں مساوی رقبوں کو واضح کرتی ہے۔

۱۹۷۳۸ اور قطبی مساوات درج ذیل ہے۔

$$r = \frac{(1+e)r_0}{1+e\cos\theta} \tag{۱۶}$$

۱۹۷۳۹ کپلر کا دوسرا قانون (قانون یکساں رقبہ)

۱۹۷۵۰ کپلر کا دوسرا قانون کہتا ہے کہ سورج سے سیارہ تک رداسی سمتیہ (جو ہمارے نمونہ میں $\boldsymbol{r}$ ہو گا) مساوی اوقات میں مساوی علاقوں کو واضح کرتا ہے (شکل
۱۹۷۵۱ ۱۲.۳۴)۔ اس قانون کو اخذ کرنے کی خاطر ہم مساوات ۱۴ استعمال کرتے ہوئے مساوات ۱۴ میں دی گئی حاصل صلیبی ضرب $\boldsymbol{C} = \boldsymbol{r} \times \dot{\boldsymbol{r}}$ کی قیمت
۱۹۷۵۲ معلوم کرتے ہیں:

$$\begin{aligned}
\boldsymbol{C} &= \boldsymbol{r} \times \dot{\boldsymbol{r}} = \boldsymbol{r} \times \boldsymbol{v} \\
&= r\boldsymbol{u}_r \times (\dot{r}\boldsymbol{u}_r + r\dot{\theta}\boldsymbol{u}_\theta) && \text{مساوات ۴} \\
&= r\dot{r}\underbrace{(\boldsymbol{u}_r \times \boldsymbol{u}_r)}_{\boldsymbol{0}} + r(r\dot{\theta})\underbrace{(\boldsymbol{u}_r \times \boldsymbol{u}_\theta)}_{\boldsymbol{k}} \\
&= r(r\dot{\theta})\boldsymbol{k}
\end{aligned} \tag{۱۷}$$

۱۹۷۵۳ لمحہ $t = 0$ پر اس سے درج ذیل حاصل ہو گا۔

$$\boldsymbol{C} = [r(r\dot{\theta})]_{t=0}\boldsymbol{k} = r_0 v_0 \boldsymbol{k} \tag{۱۸}$$

۱۹۷۵۴ مساوات ۱۷ میں $\boldsymbol{C}$ کی یہ قیمت پر کرنے سے درج ذیل حاصل ہو گا۔

$$r^2\dot{\theta} = r_0 v_0 \quad \text{یعنی} \quad r_0 v_0 \boldsymbol{k} = r^2\dot{\theta}\boldsymbol{k} \tag{۱۹}$$

۱۹۷۵۵ قطبی محدد میں تفرقی رقبہ درج ذیل لکھا جاتا ہے (حصہ ۱۰.۹)۔

$$\mathrm{d}S = \frac{1}{2}r^2\,\mathrm{d}\theta$$

۱۹۷۵۶ یوں $\frac{\mathrm{d}S}{\mathrm{d}t}$ کی قیمت ایک مستقل ہے:

$$\frac{\mathrm{d}S}{\mathrm{d}t} = \frac{1}{2}r^2\dot{\theta} = \frac{1}{2}r_0 v_0 \tag{۲۰}$$

جو کپلر کا دوسرا قانون ہے۔

زمین کے لئے r_0 تقریباً $1.5 \times 10^8\ \mathrm{km}$ ، v_0 تقریباً $30\ \mathrm{km\,s^{-1}}$ ہے لہٰذا $\frac{\mathrm{d}S}{\mathrm{d}t}$ تقریباً $2.25 \times 10^9\ \mathrm{km^2\,s^{-1}}$ ہو گا۔ یوں آپ کے دل کی ہر ایک دھڑکن میں زمین اپنے مدار میں $30\ \mathrm{km}$ فاصلہ طے کرتی ہے اور سورج سے زمین تک رداسی خط $2.25 \times 10^9\ \mathrm{km^2}$ رقبہ واضح کرتا ہے۔

کپلر کے پہلے قانون کا ثبوت

یہ دکھانے کی خاطر کہ سورج کے گرد سیارے کا مدار مخروطی ہوتا ہے جس کے ایک ماسکہ پر سورج واقع ہوتا ہے، ہمیں r کو متغیر θ کا تفاعل لکھنا ہو گا۔ ایسا کرنے کی خاطر ہمیں ایک لمبا حساب کرنا ہو گا۔

ہم وقتی طور پر $\dot{\theta}$ سے چھٹکارا حاصل کرنے کی خاطر مساوات ۶ اور مساوات ۱۰ میں $\boldsymbol{u}_r = \frac{\boldsymbol{r}}{|\boldsymbol{r}|}$ کے عددی سر ایک دوسرے کے برابر پر لکھ کر درج ذیل مساوات حاصل کرتے ہیں۔

$$\ddot{r} - r\dot{\theta}^2 = -\frac{GM}{r^2} \tag{۲۱}$$

اس میں ہم مساوات ۱۹ سے $\dot{\theta}$ کی جگہ $\frac{r_0 v_0}{r^2}$ پر کر کے ترتیب دیتے ہوئے

$$\ddot{r} = \frac{r_0^2 v_0^2}{r^3} - \frac{GM}{r^2} \tag{۲۲}$$

حاصل کرتے ہیں۔ ہم متغیرات تبدیل کرتے ہوئے اس سے درجہ اول کی تفرقی مساوات حاصل کرتے ہیں۔ یوں زنجیری قاعدہ استعمال کرتے ہوئے

$$p = \frac{\mathrm{d}r}{\mathrm{d}t}, \quad \frac{\mathrm{d}^2 r}{\mathrm{d}t^2} = \frac{\mathrm{d}p}{\mathrm{d}t} = \frac{\mathrm{d}p}{\mathrm{d}r}\frac{\mathrm{d}r}{\mathrm{d}t} = p\frac{\mathrm{d}p}{\mathrm{d}r}$$

لکھ کر مساوات ۲۲ درج ذیل صورت اختیار کرتی ہے۔

$$p\frac{\mathrm{d}p}{\mathrm{d}r} = \frac{r_0^2 v_0^2}{r^3} - \frac{GM}{r^2} \tag{۲۳}$$

دونوں اطراف کو 2 سے ضرب کرتے ہوئے r کے لحاظ سے تکمل لیتے ہیں۔

$$p^2 = (\dot{r})^2 = -\frac{r_0^2 v_0^2}{r^2} + \frac{2GM}{r} + C_1 \tag{۲۴}$$

لمحہ $t = 0$ پر ابتدائی معلومات $r = r_0$ اور $\dot{r} = 0$ سے C_1 کی قیمت تعین ہو گی۔

$$C_1 = v_0^2 - \frac{2GM}{r_0}$$

۱۹۷۷۱ اس طرح مساوات ۲۴ کو ترتیب دینے کے بعد درج ذیل لکھا جا سکتا ہے۔

$$\dot{r}^2 = v_0^2\left(1 - \frac{r_0^2}{r^2}\right) + 2GM\left(\frac{1}{r} - \frac{1}{r_0}\right) \tag{۲۵}$$

۱۹۷۷۲ مساوات ۲۱ سے مساوات ۲۵ حاصل کرنے میں ہم نے r کی دو درجی تفرقی مساوات سے r کی ایک درجی تفرقی مساوات حاصل کی۔ ہمیں اب θ کی روپ
۱۹۷۷۳ میں r کو لکھنا باقی ہے لہٰذا ہم θ کو دوبارہ مساوات میں لاتے ہیں۔ ایسا کرنے کی خاطر مساوات ۲۵ کے دونوں اطراف کو مساوات $r^2\dot{\theta} = r_0 v_0$
۱۹۷۷۴ (مساوات ۱۹) کے مطابق تی اطراف سے تقسیم کر کے حقیقت $\frac{\dot{r}}{\dot{\theta}} = \frac{\mathrm{d}r/\mathrm{d}t}{\mathrm{d}\theta/\mathrm{d}t} = \frac{\mathrm{d}r}{\mathrm{d}\theta}$ بروئے کار لاتے ہوئے درج ذیل حاصل کرتے ہیں۔

$$\frac{1}{r^4}\left(\frac{\mathrm{d}r}{\mathrm{d}\theta}\right)^2 = \frac{1}{r_0^2} - \frac{1}{r^2} + \frac{2GM}{r_0^2 v_0^2}\left(\frac{1}{r} - \frac{1}{r_0}\right) \tag{۲۶}$$

$$= \frac{1}{r_0^2} - \frac{1}{r^2} + 2h\left(\frac{1}{r} - \frac{1}{r_0}\right) \qquad h = \frac{GM}{r_0^2 v_0^2} \tag{۲۷}$$

۱۹۷۷۵ اس کی مزید سادہ صورت حاصل کرنے کی خاطر ہم درج ذیل پر کرتے ہیں۔

$$u = \frac{1}{r}, \quad u_0 = \frac{1}{r_0}, \quad \frac{\mathrm{d}u}{\mathrm{d}\theta} = -\frac{1}{r^2}\frac{\mathrm{d}r}{\mathrm{d}\theta}, \quad \left(\frac{\mathrm{d}u}{\mathrm{d}\theta}\right)^2 = \frac{1}{r^4}\left(\frac{\mathrm{d}r}{\mathrm{d}\theta}\right)^2$$

۱۹۷۷۶ یوں درج ذیل حاصل ہو گا۔

$$\left(\frac{\mathrm{d}u}{\mathrm{d}\theta}\right)^2 = u_0^2 - u^2 + 2hu - 2hu_0 = (u_0 - h)^2 - (u - h)^2 \tag{۲۸}$$

$$\frac{\mathrm{d}u}{\mathrm{d}\theta} = \mp\sqrt{(u_0 - h)^2 - (u - h)^2} \tag{۲۹}$$

۱۹۷۷۷ ہمیں کس علامت کا انتخاب کرنا ہو گا؟ ہم جانتے ہیں کہ $\dot{\theta} = \frac{r_0 v_0}{r^2}$ مثبت ہے۔ ساتھ ہی $t = 0$ پر r کم سے کم قیمت سے شروع ہوتا ہے لہٰذا یہ یکدم
۱۹۷۷۸ گھٹ نہیں سکتا ہے، اور ابتدائی مثبت لمحات میں $\dot{r} \geq 0$ ہو گا لہٰذا

$$\frac{\mathrm{d}u}{\mathrm{d}\theta} = -\frac{1}{r^2}\frac{\mathrm{d}r}{\mathrm{d}\theta} \leq 0 \quad \text{اور} \quad \frac{\mathrm{d}r}{\mathrm{d}\theta} = \frac{\dot{r}}{\dot{\theta}} \geq 0$$

۱۹۷۷۹ ہو گا۔ مساوات ۲۹ میں منفی علامت درست ہو گی۔ یہ جاننے کے بعد ہم مساوات ۲۹ کو ترتیب دے کر θ کے لحاظ سے دونوں اطراف اک تکمل لیتے ہیں۔

$$\begin{aligned} \frac{-1}{\sqrt{(u_0 - h)^2 - (u - h)^2}}\frac{\mathrm{d}u}{\mathrm{d}\theta} &= 1 \\ \cos^{-1}\left(\frac{u - h}{u_0 - h}\right) &= \theta + C_2 \end{aligned} \tag{۳۰}$$

۱۹۷۸۰ چونکہ $\theta = 0$ پر $u = u_0$ ہو گا اور $\cos^{-1}(1) = 0$ ہوتا ہے لہٰذا C_2 صفر ہو گا۔ یوں

$$\frac{u - h}{u_0 - h} = \cos\theta \tag{۳۱}$$

اور

$$\frac{1}{r} = u = h + (u_0 - h)\cos\theta \tag{۳۲}$$

ہو گا جس کو چند الجبرائی اقدام کے بعد

$$r = \frac{(1+e)r_0}{1+e\cos\theta} \tag{۳۳}$$

لکھا جا سکتا ہے جہاں

$$e = \frac{1}{r_0 h} - 1 = \frac{r_0 v_0^2}{GM} - 1 \tag{۳۴}$$

ہوں گے۔ مساوات ۳۳ اور مساوات ۳۴ مل کر کہتے ہیں کہ سیارے کی راہ مخروطی ہو گی جس کے ایک ماسکہ پر سورج ہو گا اور جس کی سنک $e = \frac{r_0 v_0^2}{GM} - 1$ ہو گی۔ یہ قانون کپلر اول کی جدید مساوات ہے۔

کپلر کا تیسرا قانون (قانون وقت اور فاصلہ)

ایک سیارہ جتنے وقت T میں اپنے سورج کے گرد ایک چکر کاٹتا ہے، اس کو سیارہ کا **دوری عرصہ** [۲۶] کہتے ہیں۔ کپلر کا تیسرا قانون کہتا ہے کہ T اور سیارے کے مدار کے نصف محور اکبر a کے بیچ درج ذیل تعلق پایا جاتا ہے۔

$$\frac{T^2}{a^3} = \frac{4\pi^2}{GM} \tag{۳۵}$$

چونکہ کسی بھی شمسی نظام کے اندر اس مساوات کا دایاں ہاتھ ایک مستقل ہو گا لہٰذا اس نظام میں تمام سیاروں کے لئے T^2 اور a^3 کا تناسب یکساں ہو گا۔

کپلر کا تیسرا قانون ہمیں ہمارے نظام شمسی کی جسامت کی معلومات حاصل کرنے کا موقع دیتا ہے۔ ہم ہر ایک سیارے کے نصف محور اکبر کو فلکیاتی اکائیوں میں لکھ سکتے ہیں۔ زمین کے نصف محور اکبر کی لمبائی فلکیاتی اکائی کہلاتی ہے۔ ہم کسی بھی لمحہ تمام سیاروں کے بیچ فاصلوں کو بھی فلکیاتی اکائیوں میں لکھ سکتے ہیں۔ اب آخری کام، ان تمام فاصلوں میں کسی ایک کی لمبائی، کلومیٹروں میں معلوم کرنا رہ گیا ہے۔ زھرہ سے ٹکرانے کے بعد ریڈار کی واپس پلٹی موجوں سے ہم زمین اور زھرہ کے بیچ فاصلہ ناپ سکتے ہیں۔ اس قسم کے تجربات سے ہم اب جانتے ہیں کہ ایک فلکیاتی اکائی $149\,597\,870$ km کے برابر ہے۔

ہم سیارے کے ترخیمی مدار میں گھیرے گئے رقبہ کے دو مختلف کلیات کو ملا کر کپلر کا تیسرا قانون اخذ کرتے ہیں:

$$\text{رقبہ} = \pi ab \qquad \text{کلیہ 1}$$

$$\text{رقبہ} = \int_0^T \mathrm{d}S \qquad \text{کلیہ 2}$$

$$= \int_0^T \frac{1}{2} r_0 v_0 \,\mathrm{d}t \qquad \text{مساوات ۲۰}$$

$$= \frac{1}{2} T r_0 v_0$$

---

[۲۶] orbitalperiod

ان دو مساوات کو ایک دوسرے کے مساوی رکھتے ہوئے درج ذیل حاصل ہو گا۔

ترخیم کے لئے $b = a\sqrt{1-e^2}$ ہوتا ہے

$$T = \frac{2\pi ab}{r_0 v_0} = \frac{2\pi a^2}{r_0 v_0}\sqrt{1-e^2} \qquad (۳۶)$$

ہمیں اب a اور e کو r_0 ، v_0 ، G اور M کی روپ میں لکھنا ہے۔ مساوات ۳۴ ہمیں e دیتی ہے جبکہ مساوات ۳۳ میں θ کو π کے برابر پر کرنے سے

$$r_{\text{بلند تر}} = r_0\frac{1+e}{1-e}$$

حاصل ہوتا ہے لہٰذا a کے لئے درج ذیل ہو گا۔

$$2a = r_0 + r_{\text{بلند تر}} = \frac{2r_0}{1-e} = \frac{2r_0 GM}{2GM - r_0 v_0^2} \qquad (۳۷)$$

مساوات ۳۶ کے دونوں اطراف کا مربع لے کر اس میں مساوات ۳۴ اور مساوات ۳۷ کے نتائج پر کرنے سے کپلر کا تیسرا قانون حاصل ہو گا (سوال ۱۲.۱۸۲)۔

مدار

اگرچہ کپلر نے یہ قوانین تجرباتی طور پر دریافت کیے، قوانین نیوٹن سے قوانین کپلر کے حصول کے بعد ہم جانتے ہیں کہ یہ قوانین ہر اس جسم پر لاگو ہوں گے جس پر بالعکس مربع قانون کے تحت قوت لاگو ہو۔ یہ سورج کے گرد ہالی دم دار ستارہ اور آئکارس سیارچہ کی مدار اور زمین کے گرد چاند کے مدار پر لاگو ہوں گے۔ اسی طرح یہ چاند کے گرد اپالو 8 کے خلائی جہاز کے مدار پر بھی لاگو ہوتے ہیں۔ ایٹم کے مرکزہ پر مارے گئے بار بردار ذرات قوانین کپلر کو مطمئن کرتے ہوئے قطع زائد راہوں پر فشاں ہوتے ہیں۔

جدول ۱۲.۱ میں نظام شمسی کے سیاروں کے مدار کی معلومات دی گئی ہے۔ مصنوعی سیاروں کے حاصل مواد سے ہم سمندروں میں پانی کی سطح میں فرق جان سکے اور بحر الکاہل میں دور ترین جزیروں کا درست مقام معلوم کر سکے۔ اس مواد سے ہمیں یہ بھی معلوم ہوا کہ سورج اور چاند کی قوت کشش زمین کے گرد مصنوعی سیاروں کے مدار پر اثر انداز ہوں گے اور شمسی اخراج اتنا دباو پیدا کرتا ہے کہ مدار کی شکل تبدیل ہو جائے۔

جدول ۱۲.۲ اور جدول ۱۲.۳ میں مزید مواد پیش کیا گیا ہے۔

سوالات

سوال ۱۲.۱۶۹: سکائے لیب 4 کا نصف محور اکبر $a = 6808\ \text{km}$ ہے۔ کپلر کے تیسرے قانون میں زمین کی کمیت کو M لیتے ہوئے دوری عرصہ معلوم کیا جا سکتا ہے۔ اس کا حساب لگائیں۔ جدول ۱۲.۲ میں دی گئی قیمت کے ساتھ موازنہ کریں۔

سوال ۱۲.۱۷۰: حضیض شمسی پر سورج سے زمین کا فاصلہ تقریباً $149\,577\,000\ \text{km}$ ہوتا ہے اور سورج کے گرد زمین کے مدار کی سنک 0.0167 ہے۔ حضیض شمس پر زمین کی رفتار v_0 تلاش کریں (مساوات ۱۱۵ استعمال کریں)۔

سوال ۱۲.۱۷۱: روس نے جولائی ۱۹۶۵ میں پروٹان 1، مصنوعی سیارہ مدار میں چھوڑا جس کی کمیت (چھوڑتے وقت) $12\,200\ \text{kg}$، بلندی حضیض $183\ \text{km}$، بلندی اوج $589\ \text{km}$ اور دوری عرصہ 92.25 منٹ تھا۔ زمین کی کمیت اور تجاذبی مستقل کی قیمتیں استعمال کر کے مساوات ۳۵ سے نصف محور اکبر a تلاش کریں۔ اس کا موازنہ اس عدد سے کریں جو حضیض اور اوج کے مجموعہ کے ساتھ زمین کا قطر جمع کرنے سے حاصل ہو گا۔

جدول ۱۲.۱: شمسی سیاروں کے a ، e اور T کی قیمتیں۔

سیارہ	نصف محور $a^{\dagger}$	سنک e	دوری عرصہ T
عطارہ	57.95	0.2056	87.967دن
زھرہ	108.11	0.0068	224.701دن
زمین	149.57	0.0167	365.256دن
مریخ	227.84	0.0934	1.8808سال
مشتری	778.14	0.0484	11.8613سال
زحل	1427.0	0.0543	29.4568سال
یورانس	2870.3	0.0460	84.0081سال
نیپچون	4499.9	0.0082	164.784سال
پلوٹو	5909	0.2481	248.35سال

† ملین کلومیٹر (10^6 km)

جدول ۱۲.۲: زمین کے گرد مصنوعی سیاروں کی معلومات

نام	پرواز	خلائی زندگی	کمیت	دوری عرصہ ††	حضیض †	اوج †	نصف محور اکبر †	سنک
سپٹنک 1	اکتوبر 1957	57.6دن	83.6	96.2	215	939	6955	0.052
ونگارڈ 1	مارچ 1958	300سال	1.47	138.5	649	4340	8872	0.208
سنکام 3	اگست 1964	$> 10^6$ سال	39	1436.2	35718	35903	42189	0.002
سکائے لیب 4	نومبر 1973	84.06دن	13980	93.11	422	437	6808	0.001
ٹائرس 11	اکتوبر 1978	500سال	734	102.12	850	866	7236	0.001
گوس 4	ستمبر 1980	$> 10^6$ سال	627	1436.2	35776	35800	42166	0.0003
انٹل سیٹ 5	دسمبر 1980	$> 10^6$ سال	1928	1417.67	35143	35707	41803	0.007

† کلومیٹر
†† منٹ

جدول ۱۲.۳: اعدادی مواد

تجاذبی مستقل	$6.6720 \times 10^{-11}\ \mathrm{N\,m^2\,kg^{-2}}$
کمیت شمس	1.99×10^{30} kg
کمیت زمین	5.975×10^{24} kg
استوائی رداس زمین	6378.533 km
قطبی رداس زمین	6356.912 km
زمین کا ہم دوری عرصہ	1436.1 منٹ
زمین کا سورج کے گرد دوری عرصہ	365.256 دن (ایک سال)

سوال ۱۲.۱۷۲: (ا) وائکنگ 1 مصنوعی سیارہ، جس کا دوری عرصہ 1639 منٹ تھا، نے اگست 1975 تا جون 1976 مریخ کا جائزہ کیا۔ مریخ کی کمیت 6.418×10^{23} kg لیتے ہوئے وائکنگ 1 کا نصف محور اکبر تلاش کریں۔ (ب) مریخ کی سطح سے وائکنگ 1 کا کم سے کم فاصلہ 1499 km اور زیادہ سے زیادہ فاصلہ 35 800 km تھا۔ ان حقائق اور جزو-ا میں حاصل نتائج کو استعمال کرتے ہوئے مریخ کے اوسط قطر کی اندازاً قیمت معلوم کریں۔

سوال ۱۲.۱۷۳: وائکنگ 2 مصنوعی سیارہ نے ستمبر 1975 تا اگست 1976 مریخ کا جائزہ کیا۔ اس کے نصف محور اکبر 22 030 km تھا۔ اس کا دوری عرصہ دریافت کریں۔

سوال ۱۲.۱۷۴: ہم عصر مدار

زمین کی استوائی مستوی میں کئی مصنوعی سیاروں کے مدار تقریباً دائری ہے اور ان کا دوری عرصہ عین ایک دن کے برابر ہے۔ یوں یہ بلندی پر رہتے ہوئے سطح زمین کے اوپر ساکن نظر آتے ہیں۔ ایسے مدار کو **ہم عصر مدار**[۲۶] کہتے ہیں۔

ا. ہم عصر مصنوعی سیارے کا نصف محور اکبر تقریباً کتنا ہو گا؟ اپنے جواب کی وجہ پیش کریں۔

ب. زمین کی سطح سے ہم عصر مدار کتنی بلندی پر ہو گا؟

ج. جدول ۱۲.۲ میں دیے گئے مصنوعی سیاروں میں کس کا مدار تقریباً ہم عصر ہے؟

سوال ۱۲.۱۷۵: مریخ کی کمیت 6.418×10^{23} kg ہے جبکہ مریخ کا ایک دن 1477.4 منٹ ہے۔ مریخ کے گرد مدار میں ایک مصنوعی سیارہ جس کا دوری عرصہ مریخی دن کے برابر ہو، سطح مریخ سے کتنی بلندی پر ہو گا؟ اپنے جواب کی وجہ پیش کریں۔

سوال ۱۲.۱۷۶: زمین کے گرد چاند کا دوری عرصہ $2.360\,55 \times 10^6$ سیکنڈ ہے۔ چاند کتنا دور ہے؟

سوال ۱۲.۱۷۷: زمین کے گرد ایک مصنوعی سیارہ دائری مدار میں حرکت کرتا ہے۔ مصنوعی سیارے کی رفتار کو مدار کے رداس کا تفاعل لکھیں۔

سوال ۱۲.۱۷۸: نظام شمسی میں سیاروں کا $\frac{T^2}{a^3}$ کتنا ہو گا؟ زمین کے گرد مصنوعی سیاروں کے لئے کتنا ہو گا؟ چاند کے گرد مصنوعی سیاروں کے لئے یہ کتنا ہو گا؟ (چاند کی کمیت 7.354×10^{22} kg ہے۔)

بغیر کیلکولیٹر استعمال کئے قلم و کاغذ سے حل کریں

سوال ۱۲.۱۷۹: مساوات ۱۵ میں v_0 کی کس قیمت کے لئے مساوات ۱۶ کا مدار دائری ہو گا؟ ترخیمی ہو گا؟ قطع مکافی ہو گا؟ قطع زائد ہو گا؟

سوال ۱۲.۱۸۰: دکھائیں کہ دائری مدار میں سیارہ یکساں رفتار سے حرکت کرتا ہے۔ (اشارہ: یہ قوانین کپلر کی بدولت ہو گا۔)

سوال ۱۲.۱۸۱: فرض کریں ایک مستوی میں متحرک ذرے کا تعین گرسمتیہ $\boldsymbol{r}$ ہے اور یہ سمتیہ $\frac{\mathrm{d}S}{\mathrm{d}t}$ کی شرح سے رقبہ واضح کرتا ہے۔ محدد متعارف کئے بغیر اور مطلوبہ تفرقات کی موجودگی تصور کرتے ہوئے، بڑھوتری اور حد پر مبنی درج ذیل مساوات کی جیومیٹریائی جواز پیش کریں۔

$$\frac{\mathrm{d}S}{\mathrm{d}t} = \frac{1}{2}|\boldsymbol{r} \times \dot{\boldsymbol{r}}|$$

سوال ۱۲.۱۸۲: کپلر کے تیسرے قانون کا اشتقاق پورا کریں (مساوات ۳۶ کے بعد حصہ۔)

---

[۲۶] geosynchronousorbit,geostationaryorbit

سوال ۱۲.۱۸۳: کسی ستارہ کے گرد دو سیارے دائری مدار میں طواف کرتے ہیں۔ سیارہ A ستارے کے قریب ہے جبکہ سیارہ B ستارہ سے زیادہ فاصلہ پر ہے۔ فرض کریں لمحہ t پر ان کے مقام بالترتیب

$$\boldsymbol{r}_A(t) = 2\cos(2\pi t)\boldsymbol{i} + 2\sin(2\pi t)\boldsymbol{j}$$
$$\boldsymbol{r}_B(t) = 3\cos(\pi t)\boldsymbol{i} + 3\sin(\pi t)\boldsymbol{j}$$

ہیں جہاں ستارہ کا مقام مبدا ہے اور فاصلوں کو فلکیاتی اکائیوں میں ناپا گیا ہے۔ (دھیان رہے کہ سیارہ A کی رفتار سیارہ B سے زیادہ ہے۔)

سیارہ A پر رہائش پذیر لوگوں کا خیال ہے کہ ان کا سیارہ، ان کے شمسی نظام کا مرکز ہے۔

ا. سیارہ A کو نئی محددی نظام کا مبدا تصور کرتے ہوئے سیارہ B کے مقام کی مقدار معلوم مساوات تلاش کریں۔ اپنا جواب $\cos(\pi t)$ اور $\sin(\pi t)$ کی صورت میں لکھیں۔

ب. سیارہ A کو مبدا تصور کرتے ہوئے سیارہ B کی راہ ترسیم کریں۔

آپ دیکھ سکتے ہیں کہ ان لوگوں کو سیاروں کی حرکت سمجھنے میں کتنی دشواری ہو گی۔ کپلر سے پہلے یہی حال ہمارا تھا۔

سوال ۱۲.۱۸۴: کپلر نے دریافت کیا کہ سورج کے گرد زمین ترخیمی راہ پر طواف کرتی ہے اور سورج اس کے ایک ماسکہ پر پایا جاتا ہے۔ سورج کے مرکز سے زمین کے مرکز تک لمحہ t پر تعین گر سمتیہ $\boldsymbol{r}(t)$ لیں۔ زمین کے جنوبی قطب سے شمالی قطب تک سمتیہ $\boldsymbol{w}$ لیں۔ ہم جانتے ہیں کہ $\boldsymbol{w}$ مستقل ہے اور ترخیم کے مستوی کو عمودی نہیں ہے (زمین کا محور جھکا ہے)۔ سمتیات $\boldsymbol{w}$ اور $\boldsymbol{r}(t)$ کے روپ میں (ا) حضیض شمسی، (ب) اوج شمسی، (ج) اعتدالین (جب دن اور رات ایک دوسرے کے برابر ہوں)، (د) لمبا ترین دن (گرم ترین دن)، (ہ) چھوٹا ترین دن (سرد ترین دن) کے ریاضی معنی پیش کریں۔

نلکی محددی نظام

سوال ۱۲.۱۸۵: نلکی محدد میں مقام اور حرکت کے اکائی سمتیات۔

فضا میں متحرک ذرے کا مقام نلکی محدد میں لکھتے ہوئے ہم

$$\boldsymbol{u}_r = \cos(\theta)\boldsymbol{i} + (\sin\theta)\boldsymbol{j},\ \boldsymbol{u}_\theta = -(\sin\theta)\boldsymbol{i} + (\cos\theta)\boldsymbol{j}$$

اور $\boldsymbol{k}$ اکائی سمتیات استعمال کرتے ہیں۔ یوں متحرک ذرے کا تعین گر سمتیہ $\boldsymbol{r} = r\boldsymbol{u}_r + z\boldsymbol{k}$ ہو گا جہاں r مبدا سے ذرے کا مثبت قطبی فاصلہ ہے۔

ا. دکھائیں کہ $\boldsymbol{u}_r$ ، $\boldsymbol{u}_\theta$ اور $\boldsymbol{k}$ ، اسی ترتیب میں، اکائی سمتیات کا دایاں ہاتھ چوکھٹ دیتے ہیں۔

ب. درج ذیل دکھائیں۔

$$\frac{\mathrm{d}\boldsymbol{u}_r}{\mathrm{d}\theta} = \boldsymbol{u}_\theta, \quad \frac{\mathrm{d}\boldsymbol{u}_\theta}{\mathrm{d}\theta} = -\boldsymbol{u}_r$$

ج. یہ فرض کرتے ہوئے کہ t کے لحاظ سے درکار تفرقات موجود ہیں، $\boldsymbol{r}$ ، $\boldsymbol{v} = \dot{\boldsymbol{r}}$ اور $\boldsymbol{a} = \ddot{\boldsymbol{r}}$ کو $\boldsymbol{u}_r$ ، $\boldsymbol{u}_\theta$ ، $\boldsymbol{k}$ ، $\dot{r}$ اور $\dot{\theta}$ کی صورت میں لکھیں۔ (نقطہ t کے لحاظ سے تفرق کو ظاہر کرتا ہے، لہٰذا $\dot{\boldsymbol{r}}$ سے مراد $\frac{\mathrm{d}\boldsymbol{r}}{\mathrm{d}t}$ اور $\ddot{\boldsymbol{r}}$ سے مراد $\frac{\mathrm{d}^2\boldsymbol{r}}{\mathrm{d}t^2}$ ہو گا، وغیرہ وغیرہ۔) حصہ ۱۲.۵ میں ان کلیات کو اخذ کیا گیا ہے اور ساتھ ہی ان سمتیات کو فلکیاتی سیاروں کی حرکت بیان کرنے کے لئے استعمال کیا گیا ہے۔

سوال ۱۲.۱۸۶: نلکی محدد میں لمبائی قوس

ا. دکھائیں کہ $\mathrm{d}s^2 = \mathrm{d}x^2 + \mathrm{d}y^2 + \mathrm{d}z^2$ کو نلکی محدد میں بیان کرنے سے $\mathrm{d}s^2 = \mathrm{d}r^2 + r^2\,\mathrm{d}\theta^2 + \mathrm{d}z^2$ حاصل ہوتا ہے۔

ب. ایک ڈبے کے کناروں اور وتر کی صورت میں جزو-ا کے نتیجہ کی تشریح کریں۔ اس ڈبہ کا خاکہ بنائیں۔

ج. منحنی $r = e^\theta,\ z = e^\theta,\ 0 \le \theta \le \ln 8$ کی لمبائی جزو-ا کے نتیجہ کی مدد سے حاصل کریں۔

کروی محددی نظام

سوال ۱۲.۱۸۷: مقام اور رفتار کے لئے مستعمل کروی محدد کے اکائی سمتیات

فضا میں نقطہ P کے کروی محددی محور r ، θ اور ϕ میں کسی دو کو مستقل رکھتے ہوئے تیسرے کو بڑھنے دیں۔ جس رخ P بڑھتا ہے اس رخ کا اکائی سمتیہ $\boldsymbol{u}$ لیں جس کے ساتھ مطابقتی زیر نوشت منسلک ہو۔ ایسے تین اکائی سمتیات $\boldsymbol{u}_r$ ، $\boldsymbol{u}_\theta$ اور $\boldsymbol{u}_\phi$ ہوں گے۔

ا. $\boldsymbol{u}_r$ ، $\boldsymbol{u}_\theta$ اور $\boldsymbol{u}_\phi$ کو $\boldsymbol{i}$ ، $\boldsymbol{j}$ اور $\boldsymbol{k}$ کی صورت میں لکھیں۔

ب. دکھائیں کہ $\boldsymbol{u}_r \times \boldsymbol{u}_\theta = 0$ ہوگا۔

ج. دکھائیں کہ $\boldsymbol{u}_\theta = \boldsymbol{u}_r \times \boldsymbol{u}_\theta$ ہوگا۔

د. دکھائیں کہ $\boldsymbol{u}_r$ ، $\boldsymbol{u}_\theta$ اور $\boldsymbol{u}_\phi$ ، اسی ترتیب میں، آپس میں عمودی سمتیات کا دایاں ہاتھ چوکھٹ دیتے ہیں۔

سوال ۱۲.۱۸۸: کروی محدد میں لمبائی قوس

ا. دکھائیں کہ $\mathrm{d}s^2 = \mathrm{d}x^2 + \mathrm{d}y^2 + \mathrm{d}z^2$ کو کروی محدد میں بیان کرنے سے $\mathrm{d}s^2 = \mathrm{d}r^2 + r^2\,\mathrm{d}\theta^2 + r^2 \sin^2\theta\,\mathrm{d}\phi^2$ حاصل ہوتا ہے۔

ب. ٹھوس کرہ سے کاٹے گئے ڈبے کے کناروں اور وتر کی صورت میں جزو-ا کے نتیجہ کی تشریح کریں۔ اس ڈبہ کا خاکہ بنائیں۔

ج. منحنی $r = 2e^\theta,\ \theta = \frac{\pi}{6},\ 0 \le \phi \le \ln 8$ کی لمبائی جزو-ا میں حاصل نتیجہ کی مدد سے حاصل کریں۔

باب ۱۳

کثیر المتغیر تفاعل اور جزوی تفرقات

جائزہ

سائنس میں دو یا دو سے زائد غیر تابع متغیرات کے تفاعل ایک متغیر کے تفاعل سے زیادہ کثرت سے پائے جاتے ہیں اور ان کی علم احصاء زیادہ عمدہ ہوتی ہے۔ زیادہ متغیرات ایک دوسرے پر زیادہ طریقوں سے اثر انداز ہو سکتے ہیں جس کی وجہ سے ان کے تفرقات مختلف اور زیادہ دلچسپ صورتیں اختیار کر سکتے ہیں۔ ان کے تکملات زیادہ اقسام کے عملی مسائل میں کام آتے ہیں۔ احتمال، سیالی حرکیات، اور برقیات، وغیرہ، پر غور کے دوران ایک سے زائد متغیرات کے تفاعل قدرتی طور پر رونما ہوتے ہیں۔ ان تفاعل کی ریاضیات، سائنس کی عظیم کامیابیوں میں سے ایک ہے۔

۱۳.۱ کثیر متغیرات کے تفاعل

کئی تفاعل ایک سے زائد متغیرات کے تابع ہوتے ہیں۔ دائری نلکی کا حجم، اس کے رداس اور قد سے، تفاعل $H = \pi r^2 h$ دیتا ہے۔ مستوی xy میں نقطہ $N(x, y)$ کے دو محددے، قطع مکافی $z = x^2 + y^2$ کا قد تفاعل $f(x, y) = x^2 + y^2$ دیتا ہے۔ اس حصہ میں ہم ایک سے زیادہ متغیرات کے تابع تفاعل متعارف کرتے ہیں اور ان کو ترسیم کرنے کے طریقوں پر غور کرتے ہیں۔

تفاعل اور متغیرات

کثیر غیر تابع حقیقی متغیرات کے حقیقی قیمت تفاعل کی تعریف بالکل واحد متغیر کے تفاعل کی طرح کی جاتی ہے۔ ان کے وقفے حقیقی (تین، چار، وغیرہ) اعداد کے مرتب جوڑی کے سلسلے ہوں گے اور ان کی سعت، اس طرح کے حقیقی اعداد کے سلسلے ہوں گے جن کے ساتھ ہم کام کرتے آرہے ہیں۔

تعریفات: فرض کریں n عدد حقیقی اعداد $x_1, x_2, \cdots, x_n$ کا سلسلہ D ہے۔ تب D پر **حقیقی قیمت تفاعل**[1] f سے مراد وہ قاعدہ ہے جو D کے ہر رکن کو حقیقی عدد

$$w = f(x_1, x_2, \cdots, x_n)$$

[1] realvaluedfunction

مختص کرتا ہو۔ سلسلہ D اس تفاعل کا **دائرہ کار**[۲] ہو گا۔ تفاعل f کی w قیمتوں کا سلسلہ f کی **سعت**[۳] ہو گی۔ علامت w تفاعل f کا **تابع متغیر**[۴] ہو گا اور f کو n **غیر تابع متغیرات**[۵] x_1 تا x_n کا تفاعل کہتے ہیں۔ ہم ان x کو تفاعل کے **داخلی متغیرات**[۶] اور w کو تفاعل کا **خارجی متغیر**[۷] بھی کہتے ہیں۔

□

اگر f دو غیر تابع متغیرات کا تفاعل ہو تب عموماً ہم ان غیر تابع متغیرات کو x اور y کہتے ہیں اور f کے دائرہ کار کو مستوی xy میں ایک خطہ تصور کرتے ہیں۔ اگر f تین غیر تابع متغیرات کا تفاعل ہو تب ہم ان متغیرات کو x ، y اور z کہتے ہیں اور تفاعل کے دائرہ کار کو فضا میں ایک خطہ تصور کرتے ہیں۔

عملی استعمال میں ہم وہ حروف استعمال کرتے ہیں جو ہمیں ان چیزوں کی یاد دلا سکیں جن کے لئے یہ متغیرات استعمال کیے گئے ہوں۔ یہ کہنے کی خاطر کہ دائری نلکی کا حجم اس کے رداس r اور قد h کا تفاعل ہو گا، ہم $H = f(r,h)$ لکھ سکتے ہیں۔ بالخصوص ہم $f(r,h)$ کی جگہ وہ کلیہ استعمال کر سکتے ہیں جو r اور h کی قیمتوں سے H کی قیمت دیتا ہو، یعنی ہم $H = \pi r^2 h$ لکھ سکتے ہیں۔ دونوں صورتوں میں r اور h غیر تابع متغیرات ہوں گے اور H تابع متغیر ہو گا۔

ہمیشہ کی طرح، ہم تفاعل کی تعریفی کلیہ میں غیر تابع متغیرات کی قیمتیں پر کر کے مطابقتی تابع متغیر کی قیمت حاصل کرتے ہیں۔

مثال ۱.۱۳: نقطہ $(3,0,4)$ پر تفاعل $f(x,y,z) = \sqrt{x^2+y^2+z^2}$ کی قیمت درج ذیل ہو گی۔

$$f(3,0,4) = \sqrt{(3)^2+(0)^2+(4)^2} = \sqrt{25} = 5$$

□

دائرہ کار

ایک سے زیادہ متغیرات کے تفاعل کی تعریف میں، ہمیشہ کی طرح، ہم ان مداخل کو شامل نہیں کرتے ہیں جو مخلوط اعداد دیتے ہوں یا جن کی وجہ سے تقسیم صفر کا عمل پیدا ہوتا ہو۔ یوں $f(x,y) = \sqrt{y-x^2}$ میں y کی قیمت x^2 کی قیمت سے کم نہیں ہو سکتی ہے اور $f(x,y) = \frac{1}{xy}$ میں xy کی قیمت صفر نہیں ہو سکتی ہے۔ ان شرائط کو مطمئن کرتے ہوئے، تفاعل کے دائرہ کار سے مراد وہ بڑے سے بڑا سلسلہ ہو گا جس پر تفاعل کا تعریفی قاعدہ حقیقی اعداد پیدا کرتا ہو۔

مثال ۲.۱۳: دو متغیرات کے تفاعل

---

[۲] domain
[۳] range
[۴] dependentvariable
[۵] independentvariable
[۶] inputvariable
[۷] outputvariable

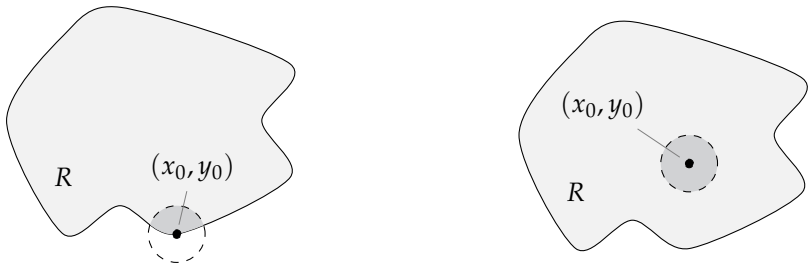

(ا) اندرونی نقطہ (ب) سرحدی نقطہ

شکل ۱.۱۳: مستوی خطہ R کا اندرونی نقطہ اور سرحدی نقطہ۔ اندرونی نقطہ لازماً R کا حصہ ہو گا جبکہ ضروری نہیں کہ سرحدی نقطہ کا حصہ ہو۔

سعت	دائرہ کار	تفاعل
$[0, \infty)$	$y \geq x^2$	$w = \sqrt{y - x^2}$
$(-\infty, 0) \cup (0, \infty)$	$xy \neq 0$	$w = \frac{1}{xy}$
$[-1, 1]$	پورا مستوی	$w = \sin xy$

□

مثال ۳.۱۳: تین متغیرات کے تفاعل

سعت	دائرہ کار	تفاعل
$[0, \infty)$	پوری فضا	$w = \sqrt{x^2 + y^2 + z^2}$
$(0, \infty)$	$(x, y, z) \neq (0, 0, 0)$	$w = \dfrac{1}{x^2 + y^2 + z^2}$
$(-\infty, \infty)$	$z>0$ نصف فضا	$w = xy \ln z$

□

بالکل حقیقی لکیر کے وقفوں پر معین تفاعل کے دائرہ کار کی طرح، مستوی کے حصوں پر معین تفاعل کے دائرہ کار کے اندرونی نقطے اور سرحدی نقطے ہو سکتے ہیں۔

تعریفات

مستوی xy میں خطہ (سلسلہ) R میں نقطہ (x_0, y_0) تب R کا **اندرونی نقطہ**[8] ہو گا جب یہ اس قرص کا مرکز ہو جو مکمل طور پر R میں پایا جاتا ہو (شکل ۱.۱۳)۔ نقطہ (x_0, y_0) تب R کا **سرحدی نقطہ**[9] ہو گا جب ہر اس قرص میں، جس کا مرکز (x_0, y_0) ہو، R کے بیرونی اور R کے

[8] interiorpoint
[9] boundarypoint

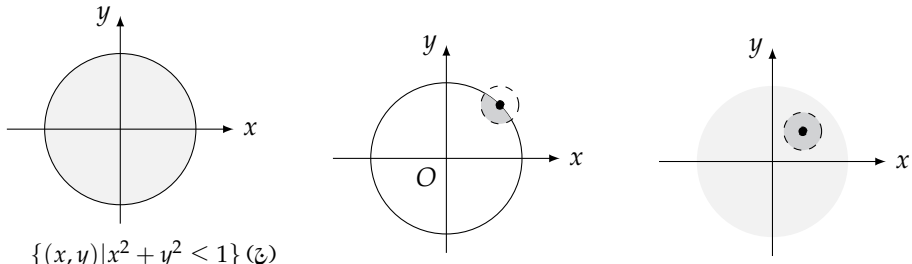

(ا) $\{(x,y)|x^2+y^2<1\}$
کھلا قرص۔ ہر نقطہ اندرونی نقطہ ہے۔

(ب) $\{(x,y)|x^2+y^2=1\}$
اکائی قرص کی سرحد۔ (اکائی دائرہ۔)

(ج) $\{(x,y)|x^2+y^2\leq 1\}$
بند اکائی قرص۔ تمام سرحدی نقطے اس میں شامل ہیں۔

شکل ۱۳.۲: مستوی میں اکائی قرص کے اندرونی نقطے اور سرحدی نقطے۔

اندرونی نقطے پائے جاتے ہوں۔ (ضروری نہیں کہ سرحدی نقطہ از خود R میں شامل ہو۔)

ایک خطہ کے اندرونی نقطے، بطور ایک سلسلہ، اس خطہ کی **اندرونی**[10] ہوں گے۔ اس خطہ کے سرحدی نقطے اس کی **سرحد**[11] ہیں۔ ایسا خطہ جو مکمل طور پر اندرونی نقطوں پر مشتمل ہو **کھلا**[12] خطہ کہلاتا ہے۔ ایسا خطہ جس میں اس کے تمام سرحدی نقطے شامل ہوں **بند**[13] خطہ کہلاتا ہے۔

حقیقی اعداد کے وقفوں کی طرح، مستوی میں بعض خطے نا کھلا اور نا ہی بند ہوتے ہیں۔ شکل ۱۳.۲ کے کھلا قرص میں چند، نا کہ تمام، سرحدی نقطے شامل کرنے سے ایسا خطہ حاصل ہو گا جو نا کھلا ہو گا اور نا ہی بند ہو گا۔ اس میں شامل سرحدی نقطے اس کو کھلا وقفہ بننے سے روکتے ہیں جبکہ اس میں نا شامل سرحدی نقطے اس کو بند خطہ بننے سے روکتے ہیں۔

تعریف: مستوی میں مقررہ رداس کے قرص میں پائے جانے والا خطہ **محدود**[14] ہو گا۔ ایسا خطہ جو محدود نا ہو **غیر محدود**[15] ہو گا۔

□

مثال ۱۳.۴:

مستوی میں محدود سلسلے: خطی قطعات؛ مثلثیں؛ مثلثوں کی اندرون؛ مستطیلیں؛ اقراص۔

مستوی میں غیر محدود سلسلے: خطوط،؛ محددی محور؛ لا تناہی وقفہ پر معین تفاعل کی ترسیم؛ ربعات، نصف مستوی؛ مستوی از خود۔

□

مثال ۱۳.۵: تفاعل $f(x,y)=\sqrt{y-x^2}$ کا دائرہ کار بند اور غیر محدود ہے (شکل ۱۳.۳)۔ قطع مکافی $y=x^2$ اس دائرہ کار کی سرحد ہے۔ قطع مکافی سے اوپر نقطے دائرہ کار کی اندرون ہیں۔ □

---

[10] interior
[11] boundary
[12] open
[13] closed
[14] bounded
[15] unbounded

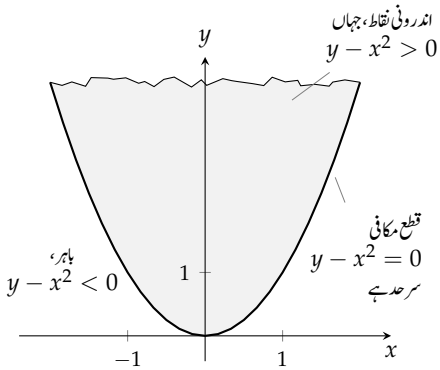

شکل ۱۳.۳: تفاعل $f(x, y) = \sqrt{y - x^2}$ کا دائرہ کار سایہ دار خطہ ہے اور اس کی سرحد قطع مکافی $y = x^2$ ہے۔

فضا میں اندرون، سرحد، کھلا، بند، محدود اور غیر محدود کی تعریفیں عین مستوی میں انہیں کی تعریفوں کی طرح ہیں۔ اضافی بُعد کی وجہ سے ہم قرص کی بجائے گیند لیتے ہیں۔ **بند گیند**[۱۶] میں کرہ کے اندرونی نقطوں کے ساتھ کرہ کی سطح بھی شامل ہو گی۔ **کھلا گیند**[۱۷] میں کرہ کے اندرونی نقطے شامل ہوں گے جبکہ کرہ کی سطح اس میں شامل نہیں ہو گی۔

تعریفات: فضا میں خطہ D میں نقطہ (x_0, y_0, z_0) اس صورت D کا **اندرونی نقطہ**[۱۸] ہو گا جب یہ نقطہ ایسے گیند کا مرکز ہو جو مکمل طور پر D میں پایا جاتا ہو۔ اگر ہر گیند، جس کا مرکز (x_0, y_0, z_0) ہو، میں شامل نقطوں میں کچھ نقطے D کے اندرونی اور کچھ اس کے بیرونی نقطے ہوں تب یہ نقطہ D کا **سرحدی نقطہ**[۱۹] ہو گا۔ خطہ D کے اندرونی نقطوں کا سلسلہ D کا **اندرون**[۲۰] ہو گا۔ خطہ D کے سرحدی نقطوں کا سلسلہ D کا **سرحد**[۲۱] ہو گا۔

ایک ایسا خطہ جو صرف اندرونی نقطوں پر مشتمل ہو **کھلا**[۲۲] خطہ کہلائے گا۔ ایک خطہ جس میں خطے کا پورا سرحد شامل ہو **بند**[۲۳] خطہ کہلائے گا۔

□

مثال ۱۳.۶:

فضا میں کھلا سلسلے کھلا گیند؛ کھلا نصف فضا $z > 0$؛ ربع اول (بغیر تحدیدی سطحیں)؛ فضا از خود

فضا میں بند سلسلے خطوط؛ مستوی؛ بند گیند؛ بند نصف فضا $z \geq 0$؛ ربع اول بمع اس کے تحدیدی سطحیں؛ فضا از خود

---

[۱۶] closedball
[۱۷] openball
[۱۸] interiorpoint
[۱۹] boundarypoint
[۲۰] interior
[۲۱] boundary
[۲۲] open
[۲۳] closed

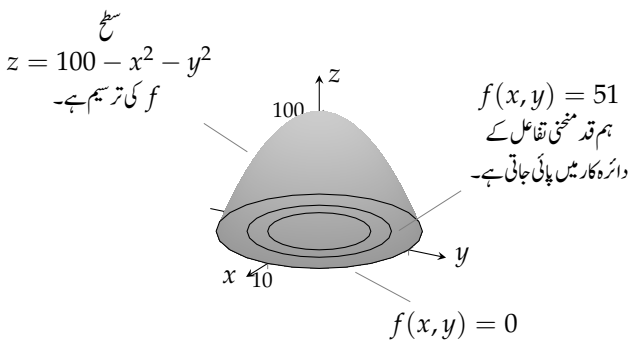

شکل ۱۳.۴: تفاعل کی ترسیم اور منتخب ہم قد منحنیات۔

۱۹۹۵۶ ناکھلا اور نابند بند گیند جس میں تحدیدی کرہ کا کچھ حصہ شامل نہ ہو؛ ٹھوس مربع جس میں ایک تحدیدی سطح یا کنارہ یا کونا شامل نہ ہو

۱۹۹۵۷ □

۱۹۹۵۸ دو متغیرات کے تفاعل کی ترسیمات اور ہم قد منحنیات

۱۹۹۵۹ تفاعل $f(x,y)$ کی تصویر کشی دو طریقوں سے کی جا سکتی ہے۔ اول، ہم اس دائرہ کار میں f کی منحنیات ترسیم کر سکتے ہیں جس پر f کی قیمت مستقل ہو۔
۱۹۹۶۰ دوم، ہم فضا میں سطح $z = f(x,y)$ ترسیم کر سکتے ہیں۔

۱۹۹۶۱ تعریفات: اس مستوی میں نقطوں کا سلسلہ جہاں $f(x,y)$ کی قیمت ایک مستقل $f(x,y) = c$ ہو، f کی **ہم قد منحنی**[۲۴] کہلاتا ہے۔ فضا
۱۹۹۶۲ میں f کے دائرہ کار میں (x,y) کے لئے تمام نقطوں $(x,y,f(x,y))$ کا سلسلہ f کی **ترسیم**[۲۵] کہلاتا ہے۔ تفاعل f کی ترسیم کو **سطح**[۲۶]
۱۹۹۶۳ $z = f(x,y)$ بھی کہتے ہیں۔

۱۹۹۶۴ □

۱۹۹۶۵ دھیان رہے کہ ہم قد منحنیات اس مستوی میں پائی جاتی ہیں جس پر تفاعل کا دائرہ کار پایا جاتا ہے۔

۱۹۹۶۶ مثال ۱۳.۷: تفاعل $f(x,y) = 100 - x^2 - y^2$ ترسیم کریں اور مستوی میں f کے دائرہ کار میں ہم قد منحنیات $f(x,y) = 0$ ، $f(x,y) = 51$ اور $f(x,y) = 75$ ترسیم کریں۔

۱۹۹۶۸ حل: تفاعل f کا دائرہ کار پورا xy مستوی ہے جبکہ اس کی سعت 100 جتنا یا اس سے کم تمام حقیقی اعداد کا سلسلہ ہے۔ قطع مکافی $z = 100 - x^2 - y^2$
۱۹۹۶۹ اس کی ترسیم ہے جس کا کچھ حصہ شکل ۱۳.۴ میں دکھایا گیا ہے۔

---

[۲۴] levelcurve
[۲۵] graph
[۲۶] surface

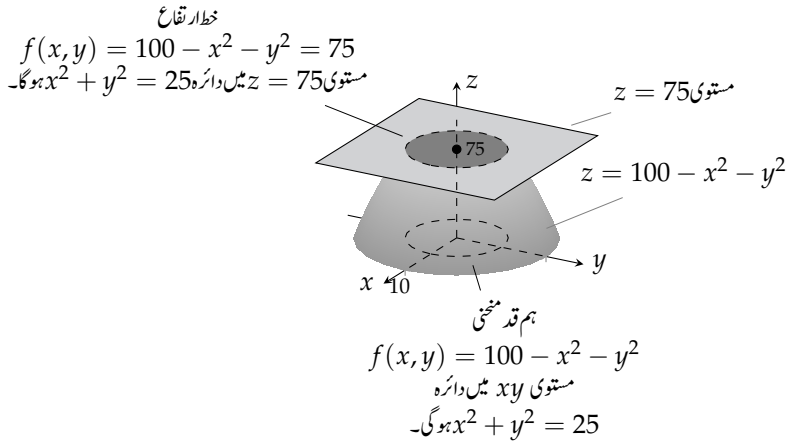

شکل ۱۳.۵: تفاعل $f(x,y) = 100 - x^2 - y^2$ کی ترسیم اور مستوی $z = 75$ کے ساتھ اس کا تقاطع۔

مستوی xy میں ان نقطوں کا سلسلہ جن پر درج ذیل ہو، ہم قد منحنی $f(x,y) = 0$ ہو گی جو ایک دائرہ ہے جس کا رداس 10 اور جس کا مرکز مبدا پر ہے۔

$$x^2 + y^2 = 100 \quad \text{یعنی} \quad f(x,y) = 100 - x^2 - y^2 = 0$$

اسی طرح ہم قد منحنیات $f(x,y) = 51$ اور $f(x,y) = 75$ درج ذیل دائرے ہوں گے جو xy مستوی میں پائے جاتے ہیں اور جن کے مراکز عین مبدا پر پائے جاتے ہیں۔

$$x^2 + y^2 = 49 \quad \text{یعنی} \quad f(x,y) = 100 - x^2 - y^2 = 51$$
$$x^2 + y^2 = 25 \quad \text{یعنی} \quad f(x,y) = 100 - x^2 - y^2 = 75$$

ہم قد منحنی $f(x,y) = 100$ صرف مبدا پر مشتمل ہے۔ (اس کے باوجود یہ ایک ہم قد منحنی ہے۔) □

خطوط ارتفاع

فضا میں وہ منحنی جس میں مستوی $z = c$ سطح $z = f(x,y)$ کو مس کرتا ہو، ان نقطوں پر مشتمل ہو گی جو تفاعل $f(x,y) = c$ کو ظاہر کرتی ہے۔ اس کو **خط ارتفاع**[۲۷] $f(x,y) = c$ کہتے ہیں تاکہ اس کے بیچ اور f کے دائرہ کار میں ہم قد منحنی $f(x,y) = c$ کے بیچ تمیز کرنا ممکن ہو۔ شکل ۱۳.۵ میں تفاعل $f(x,y) = 100 - x^2 - y^2$ کی سطح $z = 100 - x^2 - y^2$ پر خط ارتفاع $f(x,y) = 75$ دکھایا گیا ہے۔ یہ خط ارتفاع ٹھیک دائرہ $x^2 + y^2 = 25$، جو تفاعل کے دائرہ کار میں ہم قد منحنی $f(x,y) = 75$ ہے، کے اوپر کچھ بلندی پر پایا جاتا ہے۔

---

[۲۷] contourline

بعض ریاضی دان خطار تفاع اور ہم قد منحنی میں تمیز نہیں کرتے ہیں اور دونوں کو کسی ایک نام سے پکارتے ہیں۔ ایسی صورت میں متن سے آپ جان سکتے ہیں کہ کس کی بات کی گئی ہے۔ عموماً نقشات پر (سطح سمندر سے) مستقل بلندی کو ظاہر کرنے والی منحنیات کو خطار تفاع پکارا جاتا ہے نا کہ ہم قد منحنیات۔

سہ متغیری تفاعل کی ہم قد منحنیات

مستوی میں جن نقطوں پر دو غیر تابع متغیرات کے تفاعل کی قیمت ایک مستقل $f(x,y) = c$ ہو اس تفاعل کے دائرہ کار میں ایک منحنی تشکیل دیتے ہیں۔ فضا میں جن نقطوں پر تین غیر تابع متغیرات کے تفاعل کی قیمت ایک مستقل $f(x,y,z) = c$ ہو اس تفاعل کے دائرہ کار ایک سطح تشکیل دیتے ہیں۔

تعریف: فضا میں ان نقطوں (x,y,z) کا سلسلہ جن پر تین غیر تابع متغیرات کے تفاعل کی قیمت ایک مستقل $f(x,y,z) = c$ ہو، f کی **ہم قد سطح**[۲۸] کہلاتا ہے۔

□

مثال ۱۳.۸: درج ذیل تفاعل کے ہم قد سطحوں پر تبصرہ کریں۔

$$f(x,y,z) = \sqrt{x^2+y^2+z^2}$$

حل: تفاعل f کی قیمت، مبدا سے نقطہ (x,y,z) تک فاصلہ ہو گا۔ ہر ہم قد سطح $\sqrt{x^2+y^2+z^2} = c,\ c > 0$ رداس c کا کرہ ہو گا جس کا مرکز مبدا پر ہو گا۔ ہم قد سطح $\sqrt{x^2+y^2+z^2} = 0$ صرف مبدا پر مشتمل ہے۔

ہم یہاں تفاعل کو ترسیم نہیں کر رہے ہیں۔ ایک تفاعل جو نقاط $(x,y,z,\sqrt{x^2+y^2+z^2})$ پر مشتمل ہو، چار متغیری فضا میں پایا جائے گا۔ اس کے بجائے ہم تفاعل کے دائرہ کار میں ہم قد سطحوں کو دیکھ رہے ہیں۔

اس تفاعل کی ہم قد سطحیں ہمیں تفاعل کے دائرہ کار میں چلتے ہوئے تفاعل کی قیمت کی تبدیلی دکھاتی ہیں۔ اگر ہم رداس c کے کرہ، جس کا مرکز مبدا پر ہو، پر چہل قدمی کریں تب تفاعل کی قیمت بدستور c رہے گی۔ ایک کرہ سے دوسری کرہ منتقل ہونے پر تفاعل کی قیمت تبدیل ہو گی۔ مبدا سے دوری تفاعل کی قیمت بڑھاتی ہے جبکہ مبدا کے قریب ہونے سے اس کی قیمت کم ہوتی ہے۔ تفاعل کی قیمت میں تبدیلی کا دارومدار ہمارے چلنے کے رخ پر ہو گا۔ تفاعل کی قیمت میں تبدیلی کا رخ پر انحصار ایک اہم حقیقت ہے جس پر حصہ ۱۳.۷ میں غور کیا جائے گا۔ □

کمپیوٹر ترسیم کشی

کمپیوٹر کی مدد سے دو متغیرات کا تفاعل باآسانی ترسیم کیا جا سکتا ہے۔ عموماً ترسیم ہمیں کلیہ سے زیادہ معلومات جلدی فراہم کرتی ہے۔

مثال ۱۳.۹: تفاعل $w = \cos(1.7\times 10^{-2}t - 0.656x)e^{-0.656x}$ کی ترسیم کو شکل ۱۳.۶ میں دکھایا گیا ہے، جہاں وقت کو t اور فاصلہ کو x ظاہر کرتے ہیں۔ یہ ترسیم سطح زمین سے نیچے درجہ حرارت کی تبدیلی بالمقابل وقت دکھاتی ہے۔ گہرائی میں درجہ حرارت کی تبدیلی w کو سطحی

---

[۲۸] levelsurface

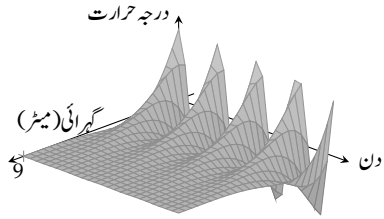

شکل ۱۳.۶: سطح زمین کی نسبت سے گہرائی میں درجہ حرارت کی تبدیلی بالمقابل وقت۔

تبدیلی کی نسبت سے دکھایا گیا ہے۔ چار میٹر کی گہرائی پر سطح تبدیلی کے 6.3 فی صد جتنی تبدیلی پائی جاتی ہے۔ نو میٹر گہرائی پر پورے سال درجہ حرارت میں تبدیلی قابل نظر انداز ہے۔

آپ دیکھ سکتے ہیں کہ 4 میٹر گہرائی پر درجہ حرارت سطحی درجہ حرارت سے تقریباً آدھا سال پیچھے ہے۔ یوں اس گہرائی پر گرمی کی موسم میں کم سے کم اور سردی کی موسم میں زیادہ سے زیادہ درجہ حرارت ہو گا۔ (میں مشورہ دوں گا کہ زیر زمین ایک کمرہ ضرور بنائیں۔) □

سوالات

دائرہ کار، سعت اور ہم قد منحنیات

سوال ۱۳.۱ تا سوال ۱۳.۱۲ میں (ا) تفاعل کا دائرہ کار تلاش کریں، (ب) تفاعل کی سعت تلاش کریں، (ج) تفاعل کی ہم قد منحنی پر تبصرہ کریں، (د) تفاعل کے دائرہ کار کی سرحد معلوم کریں، (ہ) کیا دائرہ کار کھلا خطہ، بند خطہ یا دونوں میں سے کوئی نہیں ہے، (و) کیا دائرہ کار محدود یا غیر محدود ہے؟

سوال ۱۳.۱: $f(x,y) = y - x$

سوال ۱۳.۲: $f(x,y) = \sqrt{y-x}$

سوال ۱۳.۳: $f(x,y) = 4x^2 + 9y^2$

سوال ۱۳.۴: $f(x,y) = x^2 - y^2$

سوال ۱۳.۵: $f(x,y) = xy$

سوال ۱۳.۶: $f(x,y) = \frac{y}{x^2}$

سوال ۱۳.۷: $f(x,y) = \frac{1}{\sqrt{16-x^2-y^2}}$

سوال ۱۳.۸: $f(x,y) = \sqrt{9-x^2-y^2}$

سوال ۱۳.۹: $f(x,y) = \ln(x^2+y^2)$

سوال ۱۳.۱۰: $f(x,y) = e^{-(x^2+y^2)}$

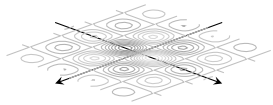

شکل ۱۳.۷

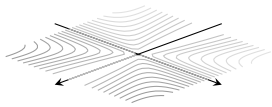

شکل ۱۳.۸

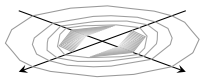

شکل ۱۳.۹

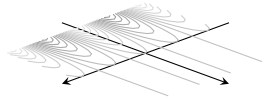

شکل ۱۳.۱۰

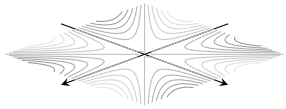

شکل ۱۳.۱۱

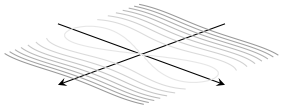

شکل ۱۳.۱۲

سوال ۱۳.۱۱: $f(x,y) = \sin^{-1}(y-x)$

سوال ۱۳.۱۲: $f(x,y) = \tan^{-1}(\frac{y}{x})$

ہم قد ترسیمات اور تفاعل کی پہچان

سوال ۱۳.۱۳ تا سوال ۱۳.۱۸ میں دی گئی ہم قد ترسیمات کی سطحیں شکل ۱۳.۱۸ تا شکل ۱۳.۱۷ میں دی گئی ہیں۔ ہم قد ترسیمات کی سطح پہچانیے۔

سوال ۱۳.۱۳: ہم قد ترسیم شکل ۱۳.۷ میں دی گئی ہے۔

سوال ۱۳.۱۴: ہم قد ترسیم شکل ۱۳.۸ میں دی گئی ہے۔

سوال ۱۳.۱۵: ہم قد ترسیم شکل ۱۳.۹ میں دی گئی ہے۔

سوال ۱۳.۱۶: ہم قد ترسیم شکل ۱۳.۱۰ میں دی گئی ہے۔

سوال ۱۳.۱۷: ہم قد ترسیم شکل ۱۳.۱۱ میں دی گئی ہے۔

سوال ۱۳.۱۸: ہم قد ترسیم شکل ۱۳.۱۲ میں دی گئی ہے۔

دو متغیرات کے تفاعل کی پہچان

سوال ۱۳.۱۹ تا سوال ۱۳.۲۸ میں تفاعل کی قیمتوں کو دو طرح دکھائیں۔ (ا) سطح $z = f(x,y)$ کو ترسیم کرتے ہوئے اور (ب) تفاعل کے دائرہ کار میں منتخب ہم قد منحنیات ترسیم کرتے ہوئے۔ ہر ایک ہم قد منحنی کی نشاندہی تفاعل کی قیمت سے کریں۔

سوال ۱۳.۱۹: $f(x,y) = y^2$

سوال ۱۳.۲۰: $f(x,y) = 4 - y^2$

سوال ۱۳.۲۱: $f(x,y) = x^2 + y^2$

سوال ۱۳.۲۲: $f(x,y) = \sqrt{x^2 + y^2}$

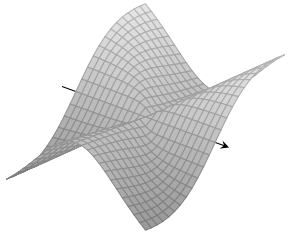

شکل ۱۳.۱۳

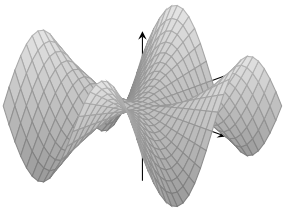

شکل ۱۳.۱۴

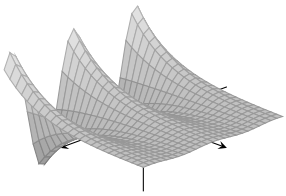

شکل ۱۳.۱۵

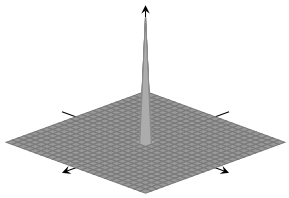

شکل ۱۳.۱۶

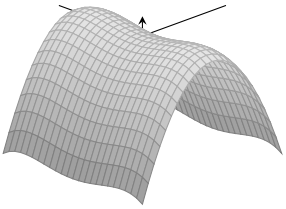

شکل ۱۳.۱۷

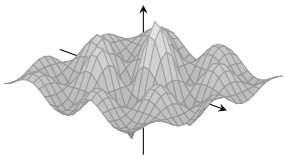

شکل ۱۳.۱۸

۲۰۰۳۹ سوال ۱۳.۲۳: $f(x,y) = -(x^2+y^2)$

۲۰۰۴۰ سوال ۱۳.۲۴: $f(x,y) = 4 - x^2 - y^2$

۲۰۰۴۱ سوال ۱۳.۲۵: $f(x,y) = 4x^2 + y^2$

۲۰۰۴۲ سوال ۱۳.۲۶: $f(x,y) = 4x^2 + y^2 + 1$

۲۰۰۴۳ سوال ۱۳.۲۷: $f(x,y) = 1 - |y|$

۲۰۰۴۴ سوال ۱۳.۲۸: $f(x,y) = 1 - |x| - |y|$

۲۰۰۴۵

۲۰۰۴۶ **ہم قد سطحیں**

۲۰۰۴۷ سوال ۱۳.۲۹ تا سوال ۱۳.۳۶ میں تفاعل کا ایک علامتی ہم قد سطح کا خاکہ بنائیں۔

۲۰۰۴۸ سوال ۱۳.۲۹: $f(x,y,z) = x^2 + y^2 + z^2$

۲۰۰۴۹ سوال ۱۳.۳۰: $f(x,y,z) = \ln(x^2 + y^2 + z^2)$

۲۰۰۵۰ سوال ۱۳.۳۱: $f(x,y,z) = x + z$

۲۰۰۵۱ سوال ۱۳.۳۲: $f(x,y,z) = z$

۲۰۰۵۲ سوال ۱۳.۳۳: $f(x,y,z) = x^2 + y^2$

۲۰۰۵۳ سوال ۱۳.۳۴: $f(x,y,z) = y^2 + z^2$

سوال ۱۳.۳۵: $f(x,y,z) = z - x^2 - y^2$

سوال ۱۳.۳۶: $f(x,y,z) = \frac{x^2}{25} + \frac{y^2}{16} + \frac{z^2}{9}$

ہم قد منحنی کی تلاش

سوال ۱۳.۳۷ تا سوال ۱۳.۴۰ میں تفاعل $f(x,y)$ کی اس ہم قد منحنی کی مساوات تلاش کریں جو دیے گئے نقطہ سے گزرتی ہو۔

سوال ۱۳.۳۷: $f(x,y) = 16 - x^2 - y^2, \quad (2\sqrt{2}, \sqrt{2})$

سوال ۱۳.۳۸: $f(x,y) = \sqrt{x^2 - 1}, \quad (1,0)$

سوال ۱۳.۳۹: $f(x,y) = \int\limits_x^y \frac{\mathrm{d}t}{1+t^2}, \quad (-\sqrt{2}, \sqrt{2})$

سوال ۱۳.۴۰: $f(x,y) = \sum\limits_{n=0}^{\infty} \left(\frac{x}{y}\right)^n, \quad (1,2)$

ہم قد سطح کی تلاش

سوال ۱۳.۴۱ تا سوال ۱۳.۴۴ میں دیے گئے نقطہ سے گزرتی ہم قد سطح کی مساوات تلاش کریں۔

سوال ۱۳.۴۱: $f(x,y,z) = \sqrt{x-y} - \ln z, \quad (3,-1,1)$

سوال ۱۳.۴۲: $f(x,y,z) = \ln(x^2 + y + z^2), \quad (-1,2,1)$

سوال ۱۳.۴۳: $g(x,y,z) = \sum\limits_{n=0}^{\infty} \frac{(x+y)^n}{n! z^n}, \quad (\ln 2, \ln 4, 3)$

سوال ۱۳.۴۴: $g(x,y,z) = \int\limits_x^y \frac{\mathrm{d}\theta}{\sqrt{1-\theta^2}} + \int\limits_{\sqrt{2}}^z \frac{\mathrm{d}t}{t\sqrt{t^2-1}}, \quad (0, \frac{1}{2}, 2)$

نظریہ اور مثالیں

سوال ۱۳.۴۵: فضا میں ایک لکیر پر تفاعل کی زیادہ سے زیادہ قیمت۔

کیا لکیر $x = 20 - t,\ y = t,\ z = 20$ پر تفاعل $f(x,y,z) = xyz$ کی زیادہ سے زیادہ قیمت پائی جاتی ہے؟ اگر ہو، تب اس کی قیمت کتنی ہو گی؟ اپنے جواب کی وجہ پیش کریں۔ (اشارہ: اس لکیر پر $w = (f,y,z)$ متغیر t کا قابل تفرق تفاعل ہے۔)

سوال ۱۳.۴۶: فضا میں ایک لکیر پر تفاعل کی کم سے کم قیمت۔

کیا لکیر $x = t - 1,\ y = t - 2,\ z = t + 7$ پر تفاعل $f(x,y,z) = xy - z$ کی کم سے کم قیمت پائی جاتی ہے؟ اگر ہو، تب اس کی قیمت کتنی ہو گی؟ اپنے جواب کی وجہ پیش کریں۔ (اشارہ: اس لکیر پر $w = (f,y,z)$ متغیر t کا قابل تفرق تفاعل ہے۔)

سوال ۱۳.۴۷: جہاز کا صوتی دھماکا

ایک جہاز کے نیچے زمین پر اس خطہ کی چوڑائی w جہاں جہاز کا صوتی دھماکا انسان برائے راست (جو فضا میں ہوا کی مختلف سطحوں سے منعکس نہ ہو) سن سکتا ہو، درج ذیل کا تفاعل ہو گا۔

- T زمین پر ہوا کی درجہ حرارت (کیلون)
- h جہاز کی بلندی (کلومیٹر)
- d درجہ حرارت کی انتصابی شرح تبدیلی (کیلون فی کلومیٹر)

اس چوڑائی کا کلیہ درج ذیل ہے۔

$$w = 4\sqrt{\frac{Th}{d}}$$

یہ جہاز $16.8\,\mathrm{km}$ کی بلندی پر پرواز کرتا ہوا بحیرہ عرب سے کراچی شہر پہنچ رہا ہے۔ اگر سطحی درجہ حرارت $290\,\mathrm{K}$ اور انتصابی شرح حرارت $5\,\mathrm{K\,km^{-1}}$ ہو تب جہاز ساحل سے کتنا دور ہو گا جب اس کا صوتی دھماکا سنائی دے۔

سوال ۱۳.۴۸: جیسا کہ آپ جانتے ہیں، واحد حقیقی متغیر کے حقیقی قیمت تفاعل کی ترسیم دو محددی فضا کا سلسلہ ہوتا ہے۔ دو غیر تابع حقیقی متغیرات کے حقیقی قیمت تفاعل کی ترسیم تین محددی فضا کا سلسلہ ہوتا ہے۔ تین غیر تابع حقیقی متغیرات کے حقیقی قیمت تفاعل کی ترسیم چار محددی فضا کا سلسلہ ہوتا ہے۔ آپ چار غیر تابع متغیرات کے تفاعل $f(x_1, x_2, x_3, x_4)$ کی ترسیم کے بارے میں کیا کہیں گے؟ آپ n غیر تابع متغیرات کے تفاعل $f(x_1, x_2, x_3, \cdots, x_n)$ کی ترسیم کے بارے میں کیا کہیں گے؟

کمپیوٹر کا استعمال۔ صریح سطح

کمپیوٹر استعمال کرتے ہوئے سوال ۱۳.۴۹ تا سوال ۱۳.۵۲ میں درج ذیل اقدام کریں۔

ا. دیے گئے مستطیل پر سطح ترسیم کریں۔

ب. اس مستطیل میں کئی ہم قد منحنیات ترسیم کریں۔

ج. دیے گئے نقطہ سے گزرتی ہوئی f کی ہم قد منحنی ترسیم کریں۔

سوال ۱۳.۴۹: $f(x,y) = x\sin\frac{y}{2} + y\sin 2x, \quad 0 \le x \le 5\pi, \quad 0 \le y \le 5\pi$

سوال ۱۳.۵۰: $f(x,y) = (\sin x)(\cos x)e^{\sqrt{x^2+y^2}/8}, \quad 0 \le x \le 5\pi, \quad 0 \le y \le 5\pi$

سوال ۱۳.۵۱: $f(x,y) = \sin(x + 2\cos y), \quad -2\pi \le x \le 2\pi, \quad -2\pi \le y \le 2\pi$

سوال ۱۳.۵۲: $f(x,y) = e^{(x^{0.1}-y)}\sin(x^2+y^2), \quad 0 \le x \le 2\pi, \quad -2\pi \le y \le \pi$

کمپیوٹر کا استعمال۔ خفی سطح

سوال ۱۳.۵۳ تا سوال ۱۳.۵۶ میں کمپیوٹر استعمال کرتے ہوئے ہم قد سطحیں ترسیم کریں۔

سوال ۱۳.۵۳: $4\ln(x^2+y^2+z^2) = 1$

سوال ۱۳.۵۴: $x^2 + z^2 = 1$

سوال ۱۳.۵۵: $x + y^2 - 3z^2 = 1$

سوال ۱۳.۵۶: $\sin\left(\frac{x}{2}\right) - (\cos y)\sqrt{x^2+z^2} = 2$

کمپیوٹر کا استعمال۔ مقدار معلوم سطح

جیسا آپ کسی مقدار معلوم وقفہ I پر مستوی میں منحنیات کو مقدار معلوم مساوات $x = f(t), y = g(t)$ کی روپ میں لکھتے ہیں، آپ بعض اوقات کسی مقدار معلوم مستطیل $a \leq u \leq b, c \leq v \leq d$ وقفہ پر فضا میں سطحوں کو مقدار معلوم تین مساوات $x = f(u,v), y = g(u,v), z = h(u,v)$ کی روپ میں لکھ سکتے ہیں۔ کمپیوٹر اس قسم کی مقدار معلوم مساواتوں سے سطح ترسیم کر سکتا ہے۔ سوال ۱۳.۵۷ تا سوال ۱۳.۶۰ میں کمپیوٹر کی مدد سے سطحیں ترسیم کریں۔ ساتھ ہی xy مستوی میں چند ہم قد منحنیات ترسیم کریں۔

سوال ۱۳.۵۷: $x = u\cos v, \quad y = u\sin v, \quad z = u, \quad 0 \leq u \leq 2, \quad 0 \leq v \leq 2\pi$

سوال ۱۳.۵۸: $x = u\cos v, \quad y = u\sin v, \quad z = v, \quad 0 \leq u \leq 2, \quad 0 \leq v \leq 2\pi$

سوال ۱۳.۵۹: $x = (2+\cos u)\cos v, y = (2+\cos u)\sin v, z = \sin u,$
$0 \leq u \leq 2\pi, 0 \leq v \leq 2\pi$

سوال ۱۳.۶۰: $x = 2\cos u\cos v, \quad y = 2\cos u\sin v, \quad z = 2\sin u$
$0 \leq u \leq 2\pi, \quad 0 \leq v \leq \pi$

۱۳.۲ حد اور استمرار

اس حصہ میں کثیر المتغیر تفاعل کی حد اور استمرار پر غور کیا جائے گا۔

حد

اگر نقطہ (x_0, y_0) کے قریب تمام نقاط (x,y) کے لئے تفاعل $f(x,y)$ کی قیمتیں کسی مقررہ حقیقی عدد L کے بہت زیادہ قریب ہوں تب ہم کہتے ہیں کہ جیسے جیسے (x,y) نقطہ (x_0, y_0) تک پہنچنے کی کوشش کرتا ہے، تفاعل f کی قیمت L تک پہنچنے کی کوشش کرتی ہے۔ یہ تعریف، واحد متغیر کے تفاعل کی حد کی تعریف کی مانند ہے۔ البتہ، دھیان رہے کہ اگر (x_0, y_0) تفاعل f کے دائرہ کار کی اندرون میں پایا جاتا ہو تب (x,y) نقطہ (x_0, y_0) تک کسی بھی رخ سے پہنچنے کی کوشش کر سکتا ہے۔ جیسا آپ نیچے دی گئی مثالوں میں سے چند میں دیکھیں گے، قریب پہنچنے کا رخ بعض اوقات مسئلہ کھڑا کر سکتا ہے۔

تعریف: اگر ہر عدد $\epsilon > 0$ کے لئے ایسا مطابقتی عدد $\delta > 0$ پایا جاتا ہو کہ f کے دائرہ کار میں تمام (x,y) کے لئے

$$0 < \sqrt{(x-x_0)^2 + (y-y_0)^2} < \delta \implies |f(x,y) - L| < \epsilon \tag{1}$$

ہو، تب ہم کہتے ہیں کہ (x_0, y_0) تک (x,y) پہنچنے سے $f(x,y)$ کی قیمت حد[۲۹] L تک پہنچتی ہے جس کو ہم درج ذیل لکھتے ہیں۔

$$\lim_{(x,y)\to(x_0,y_0)} f(x,y) = L$$

[۲۹] limit

$\square$

حد کی تعریف میں $\delta\sigma$ کی شرط اس کی معادل ہے کہ، کسی بھی $\epsilon > 0$ کے لئے ایسا مطابقتی $\delta > 0$ پایا جاتا ہو کہ تمام x کے لئے درج ذیل ہو (سوال ۱۳.۱۱۹)۔

$$0 < |x - x_0| < \delta \quad \text{اور} \quad 0 < |y - y_0| < \delta \implies |f(x,y) - L| < \epsilon \tag{۲}$$

یوں حد کی قیمت تلاش کرتے ہوئے ہم مستوی میں فاصلوں کی صورت یا محدد میں فرق کی صورت میں سوچ سکتے ہیں۔

حد کی تعریف، تفاعل f کے دائرہ کار کی اندرون کے ساتھ سرحدی نقاط (x_0, y_0) کے لئے بھی کارآمد ہے۔ بس اتنا ضروری ہے کہ نقطہ (x, y) ہر وقت دائرہ کار کے اندر رہے۔

واحد متغیر کے تفاعل کی طرح درج ذیل دکھائے جا سکتے ہیں۔

$$\begin{aligned}
&\lim_{(x,y)\to(x_0,y_0)} x = x_0 \\
&\lim_{(x,y)\to(x_0,y_0)} y = y_0 \\
&\lim_{(x,y)\to(x_0,y_0)} k = k \quad \text{کوئی بھی عدد ہو سکتا ہے } k
\end{aligned} \tag{۳}$$

یہ بھی دکھایا جا سکتا ہے کہ دو تفاعل کے مجموعہ کا حد، ان تفاعل کے انفرادی حد (اگر دونوں موجود ہوں) کا مجموعہ ہو گا۔ اسی طرح کے نتائج فرق، حاصل ضرب، حاصل تقسیم، مستقل مضرب اور طاقت کے لئے بھی دکھائے جا سکتے ہیں۔

مسئلہ ۱۳.۱: **دو متغیرات کے تفاعل کی حد کے خواص**

اگر

$$\lim_{(x,y)\to(x_0,y_0)} f(x,y) = L \quad \text{اور} \quad \lim_{(x,y)\to(x_0,y_0)} g(x,y) = M$$

ہوں تب درج ذیل قواعد کارآمد ہوں گے۔

قاعدہ مجموعہ: $\lim[f(x,y) + g(x,y)] = L + M$

قاعدہ فرق: $\lim[f(x,y) - g(x,y)] = L - M$

قاعدہ مستقل مضرب: $\lim kf(x,y) = kL$ جہاں k کوئی مستقل ہے۔

قاعدہ حاصل تقسیم: $\lim \frac{f(x,y)}{g(x,y)} = \frac{L}{M}$ اگر $M \neq 0$ ہو۔

قاعدہ طاقت: $\lim[f(x,y)]^{m/n} = L^{m/n}$ اگر m اور n اعداد صحیح اور $L^{m/n}$ ایک حقیقی عدد ہو۔

تمام حد $(x,y) \to (x_0, y_0)$ کی صورت میں حاصل کیے جائیں گے اور L ، M کا حقیقی اعداد ہونا لازمی ہے۔

مساوات ۳ پر مسئلہ ۱.۱۳ کے اطلاق سے ہمیں معلوم ہوتا ہے کہ $(x, y) \to (x_0, y_0)$ کرتے ہوئے کثیر رکنی اور ناطق تفاعل کی حد ہم (x_0, y_0) پر تفاعل کی قیمت سے حاصل کرتے ہیں۔ بس اتنا ضروری ہے کہ نقطہ (x_0, y_0) پر تفاعل معین ہو۔

مثال ۱۰.۱۳:

$$\lim_{(x,y)\to(0,1)} \frac{x - xy + 3}{x^2y + 5xy - y^3} = \frac{0 - (0)(1) + 3}{(0)^2(1) + 5(0)(1) - (1)^3} = -3$$

$$\lim_{(x,y)\to(3,-4)} \sqrt{x^2 + y^2} = \sqrt{(3)^2 + (-4)^2} = \sqrt{25} = 5$$

□

مثال ۱۱.۱۳: درج ذیل حاصل کریں۔

$$\lim_{(x,y)\to(0,0)} \frac{x^2 - xy}{\sqrt{x} - \sqrt{y}}$$

حل: چونکہ $(x, y) \to (0, 0)$ پر نسب نما 0 کو پہنچتا ہے لہٰذا ہم قاعدہ حاصل تقسیم (مسئلہ ۱.۱۳) استعمال نہیں کر سکتے ہیں۔ البتہ نسب نما اور شمار کنندہ کو $\sqrt{x} + \sqrt{y}$ سے ضرب دے کر ایسا معادل حاصل تقسیم حاصل ہوتا ہے جس کا حد ہم تلاش کر سکتے ہیں:

$$\begin{aligned}
\lim_{(x,y)\to(0,0)} \frac{x^2 - xy}{\sqrt{x} - \sqrt{y}} &= \lim_{(x,y)\to(0,0)} \frac{(x^2 - xy)(\sqrt{x} + \sqrt{y})}{(\sqrt{x} - \sqrt{y})(\sqrt{x} + \sqrt{y})} \\
&= \lim_{(x,y)\to(0,0)} \frac{x(x - y)(\sqrt{x} + \sqrt{y})}{x - y} && \text{الجبرا} \\
&= \lim_{(x,y)\to(0,0)} x(\sqrt{x} + \sqrt{y}) && \text{جزو } (x - y) \text{ کاٹا گیا} \\
&= 0(\sqrt{0} + \sqrt{0}) = 0
\end{aligned}$$

□

استمرار

واحد متغیر کے تفاعل کی طرح، استمرار کی تعریف حد کی صورت میں کی جاتی ہے۔

تعریف: اگر

ا. (x_0, y_0) پر f معین ہو،

ب. $\lim_{(x,y)\to(x_0,y_0)} f(x, y)$ موجود ہو،

ج. $\lim_{(x,y)\to(x_0,y_0)} f(x, y) = f(x_0, y_0)$ ہو،

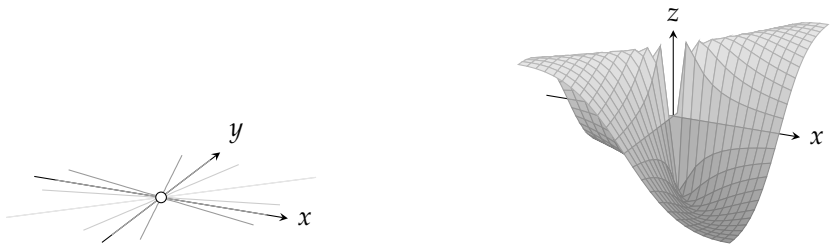

شکل ۱۳.۱۹: ماسوائے نقطہ $(0,0)$ تفاعل $f(x,y)$ استمراری ہے۔

تب تفاعل f **نقطہ** (x_0,y_0) **پر استمراری**[30] ہو گا۔ ایک تفاعل جو اپنے دائرہ کار کے ہر نقطہ پر استمراری ہو **استمراری**[31] ہو گا۔

□

حد کی تعریف کی طرح، استمرار کی تعریف بھی f کے دائرہ کار کے تمام اندرونی نقاط کے ساتھ ساتھ سرحدی نقاط پر بھی قابل اطلاق ہوتا ہے بس اتنا ضروری ہے کہ پورے وقت نقطہ (x,y) تفاعل کے دائرہ کار میں رہے۔

جیسا آپ دیکھ سکتے ہیں، مسئلہ ۱۳.۱ کا ایک نتیجہ یہ ہے کہ استمراری تفاعل کے الجبرائی جوڑ ہر اس نقطہ پر استمراری ہوں گے جس پر تمام شامل تفاعل استمراری ہوں۔ اس کا مطلب ہے کہ جہاں تمام استمراری تفاعل استمراری ہوں وہاں ان کے مجموعہ، فرق، حاصل ضرب، مستقل مضرب، حاصل تقسیم اور طاقت استمراری ہوں گے۔ بالخصوص دو متغیرات کی کثیر رکنی اور ناطق تفاعل ان تمام نقطوں پر استمراری ہوں گے جہاں یہ معین ہوں۔

اگر x اور y کا استمراری تفاعل $z = f(x,y)$ ہو جبکہ z کا استمراری تفاعل $z = g(z)$ ہو، تب مرکب $w = g(f(x,y))$ استمراری ہو گا۔ یوں ہر نقطہ (x,y) پر درج ذیل استمراری ہوں گے۔

$$e^{x-y}, \quad \cos\frac{xy}{x^2+1}, \quad \ln(1+x^2y^2)$$

واحد متغیر کے تفاعل کی طرح، استمراری تفاعل کا مرکب بھی استمراری ہو گا، بس اتنا ضروری ہے کہ وہاں ہر تفاعل استمراری ہو۔

مثال ۱۳.۱۲: دکھائیں کہ ماسوائے مبدا درج ذیل ہر نقطہ پر استمراری ہے (شکل ۱۳.۱۹)۔

$$f(x,y) = \begin{cases} \frac{2xy}{x^2+y^2}, & (x,y) \neq (0,0) \\ 0, & (x,y) = (0,0) \end{cases}$$

حل: ہر نقطہ $(x,y) \neq (0,0)$ پر تفاعل کی قیمت x اور y کے ناطق تفاعل سے حاصل کی جاتی ہے لہٰذا f استمراری ہو گا۔

نقطہ $(0,0)$ پر f کی قیمت معین ہے، لیکن ہم دعویٰ کرتے ہیں کہ $(x,y) \to (0,0)$ کرتے ہوئے اس کا حد غیر موجود ہے۔ اس کی وجہ، جیسا ہم دیکھیں گے، یہ ہے کہ مبدا تک مختلف راہوں سے پہنچتے ہوئے مختلف نتائج حاصل ہوتے ہیں۔

---

[30] continuous
[31] continuous

درج ذیل کی بنا، سوراخ دار لکیر $y = mx,\ x \neq 0$ پر m کی ہر قیمت کے لئے تفاعل f کی ایک مستقل قیمت ہو گی۔

$$f(x,y)\big|_{y=mx} = \left.\frac{2xy}{x^2+y^2}\right|_{y=mx} = \frac{2x(mx)}{x^2+(mx)^2} = \frac{2mx^2}{x^2+m^2x^2} = \frac{2m}{1+m^2}$$

یوں اس لکیر پر جیسے جیسے (x,y) مبدا تک پہنچتا ہے، f کی حد اتنی ہو گی:

$$\lim_{\substack{(x,y)\to(0,0)\\ \text{خط } y=mx \text{ پر}}} f(x,y) = \lim_{(x,y)\to(0,0)} \left[\, f(x,y)\big|_{y=mx} \,\right] = \frac{2m}{1+m^2}$$

ہم دیکھتے ہیں کہ حد کی قیمت m پر منحصر ہے۔ یوں ایسی کوئی یکتا قیمت حاصل نہیں ہوتی جس کو مبدا تک (x,y) پہنچنے پر ہم f کی حد کہہ سکیں۔ مبدا پر حد غیر موجود ہے لہٰذا مبدا پر تفاعل غیر استراری ہو گا۔ □

دو (یا دو سے زیادہ) متغیرات کے تفاعل کی حدوں کے بارے میں ایک اہم نقطہ مثال ۱۳.۱۲ میں اجاگر ہوا۔ ایک نقطہ پر حد کی موجودگی کے لئے ضروری ہے کہ اس نقطہ تک تمام آمد راہوں پر حد کی قیمت ایک سی ہو۔ یوں جب بھی ہم ایک نقطہ تک ایسی راہیں تلاش کریں جن پر حد ایک دوسرے سے مختلف ہوں تب اس نقطہ پر تفاعل کا حد غیر موجود ہو گا۔

حد کی غیر موجودگی کی دو راہ پرکھ

اگر (x_0,y_0) تک نقطہ (x,y) ایسی دو مختلف راہوں سے پہنچے جن پر $f(x,y)$ کی حدیں ایک دوسرے سے مختلف ہوں تب $\lim\limits_{(x,y)\to(x_0,y_0)} f(x,y)$ غیر موجود ہو گا۔

□

مثال ۱۳.۱۳: دکھائیں کہ $(0,0)$ تک (x,y) پہنچنے سے درج ذیل تفاعل کا کوئی حد حاصل نہیں ہوتا ہے (شکل ۱۳.۲۰)۔

$$f(x,y) = \frac{2x^2y}{x^4+y^2}$$

حل: منحنی $y = kx^2,\ x \neq 0$ پر اس تفاعل کی قیمت ایک مستقل ہے:

$$f(x,y)\big|_{y=kx^2} = \left.\frac{2x^2y}{x^4+y^2}\right|_{y=kx^2} = \frac{2x^2(kx^2)}{x^4+(kx^2)^2} = \frac{2kx^4}{x^4+k^2x^4} = \frac{2k}{1+k^2}$$

یوں

$$\lim_{\substack{(x,y)\to(0,0)\\ \text{پر } y=kx^2}} f(x,y) = \lim_{(x,y)\to(0,0)} \left[\, f(x,y)\big|_{y=kx^2} \,\right] = \frac{2k}{1+k^2}$$

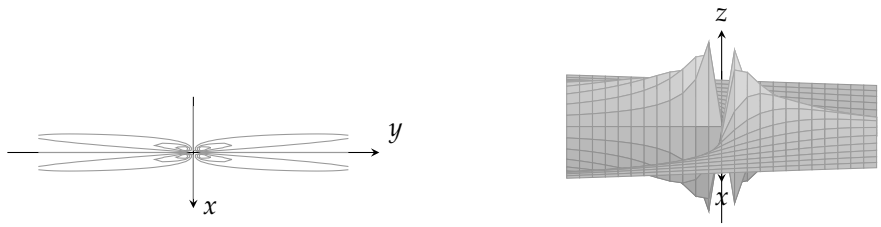

شکل ۱۳.۲۰: ماسوائے نقطہ $(0,0)$ تفاعل $f(x,y) = 2x^2y/(x^4+y^2)$ استمراری ہے۔

۲۰۱۸۸ ہوگا جو آمد راہ پر منحصر ہے۔ اگر (x,y) نقطہ $(0,0)$ تک قطع مکافی $y = x^2$ راہ پر چلتے ہوئے پہنچے، جہاں $k = 1$ ہے، تب حد 1 کے
۲۰۱۸۹ برابر حاصل ہوتا ہے۔ اگر (x,y) نقطہ $(0,0)$ تک محور x پر چلتے ہوئے پہنچے، جہاں $k = 0$ ہے، تب حد 0 کے برابر حاصل ہوتا ہے۔ یوں دو
۲۰۱۹۰ راہ پر کھ کے تحت $(0,0)$ تک (x,y) کے پہنچنے سے f کا کوئی حد حاصل نہیں ہوگا۔ □

۲۰۱۹۱ یہاں آپ سوال اٹھا سکتے ہیں کہ مبدا تک نقطہ (x,y) کے پہنچنے سے بہت سارے مختلف حد ملتے ہیں لہٰذا یہ کہنا درست نہیں کہ f کا حد غیر موجود ہے۔
۲۰۱۹۲ یہی وہ نقطہ ہے جسے سمجھنا ضروری ہے۔ حد کی تعریف کہتی ہے کہ حد کی قیمت راہ پر منحصر نہیں ہو سکتی۔

۲۰۱۹۳ دو سے زیادہ متغیرات کے تفاعل

۲۰۱۹۴ دو متغیرات کے تفاعل کی حدیں اور استمرار کی تعریف اور ان تفاعل کے مجموعہ، فرق، حاصل ضرب، حاصل تقسیم، طاقت اور مرکب کے بارے میں حاصل
۲۰۱۹۵ نتائج تین یا تین سے زیادہ متغیرات کے تفاعل کے لئے بھی کار آمد ہیں۔ درج ذیل تفاعل اپنے پورے دائرہ کار میں استمراری ہیں

$$\ln(x+y+z) \quad \text{اور} \quad \frac{y\sin z}{x-1}$$

۲۰۱۹۶ اور درج ذیل طرز کا حد، جہاں N نقطہ (x,y,z) کو ظاہر کرتا ہے، حاصل کرنے کے لئے تفاعل میں نقطہ پر کیا جاتا ہے۔

$$\lim_{N\to(1,0,-1)} \frac{e^{x+z}}{z^2+\cos\sqrt{xy}} = \frac{e^{1-1}}{(-1)^2+\cos 0} = \frac{1}{2}$$

۲۰۱۹۷ سوالات

۲۰۱۹۸ حد کی قیمت کی تلاش

۲۰۱۹۹ سوال ۱۳.۶۱ تا سوال ۱۳.۷۲ میں حد کی قیمت تلاش کریں۔

۲۰۲۰۰ سوال ۱۳.۶۱: $\lim\limits_{(x,y)\to(0,0)} \frac{3x^2-y^2+5}{x^2+y^2+2}$

۲۰۲۰۱ سوال ۱۳.۶۲: $\lim\limits_{(x,y)\to(0,4)} \frac{x}{\sqrt{y}}$

۲۰۲۰۲ سوال ۱۳.۶۳: $\lim\limits_{(x,y)\to(3,4)} \sqrt{x^2+y^2-1}$

۲۰۲۰۳ سوال ۱۳.۶۴: $\lim\limits_{(x,y)\to(2,-3)} \left(\frac{1}{x}+\frac{1}{y}\right)^2$

۲۰۲۰۴ سوال ۱۳.۶۵: $\lim\limits_{(x,y)\to(0,\pi/4)} \sec x \tan y$

۲۰۲۰۵ سوال ۱۳.۶۶: $\lim\limits_{(x,y)\to(0,0)} \cos \frac{x^2+y^3}{x+y+1}$

۲۰۲۰۶ سوال ۱۳.۶۷: $\lim\limits_{(x,y)\to(0,\ln 2)} e^{x-y}$

۲۰۲۰۷ سوال ۱۳.۶۸: $\lim\limits_{(x,y)\to(1,1)} \ln\left|1+x^2y^2\right|$

۲۰۲۰۸ سوال ۱۳.۶۹: $\lim\limits_{(x,y)\to(0,0)} \frac{e^y \sin x}{x}$

۲۰۲۰۹ سوال ۱۳.۷۰: $\lim\limits_{(x,y)\to(1,1)} \cos \sqrt[3]{|xy|-1}$

۲۰۲۱۰ سوال ۱۳.۷۱: $\lim\limits_{(x,y)\to(1,0)} \frac{x \sin y}{x^2+1}$

۲۰۲۱۱ سوال ۱۳.۷۲: $\lim\limits_{(x,y)\to(\pi/2,0)} \frac{\cos y+1}{y-\sin x}$

۲۰۲۱۲

۲۰۲۱۳ حاصل تقسیم کی حدیں

۲۰۲۱۴ حاصل تقسیم کو ترتیب دیتے ہوئے سوال ۱۳.۷۳ تا سوال ۱۳.۸۰ میں حد تلاش کریں۔

۲۰۲۱۵ سوال ۱۳.۷۳: $\lim\limits_{\substack{(x,y)\to(1,1)\\ x\neq y}} \frac{x^2-2xy+y^2}{x-y}$

۲۰۲۱۶ سوال ۱۳.۷۴: $\lim\limits_{\substack{(x,y)\to(1,1)\\ x\neq y}} \frac{x^2-y^2}{x-y}$

۲۰۲۱۷ سوال ۱۳.۷۵: $\lim\limits_{\substack{(x,y)\to(1,1)\\ x\neq 1}} \frac{xy-y-2x+2}{x-1}$

۲۰۲۱۸ سوال ۱۳.۷۶: $\lim\limits_{\substack{(x,y)\to(2,-4)\\ y\neq -4,\, x\neq x^2}} \frac{y+4}{x^2y-xy+4x^2-4x}$

۲۰۲۱۹ سوال ۱۳.۷۷: $\lim\limits_{\substack{(x,y)\to(0,0)\\ x\neq y}} \frac{x-y+2\sqrt{x}-2\sqrt{y}}{\sqrt{x}-\sqrt{y}}$

۲۰۲۲۰ سوال ۱۳.۷۸: $\lim\limits_{\substack{(x,y)\to(2,2)\\ x+y\neq 4}} \frac{x+y-4}{\sqrt{x+y}-2}$

۲۰۲۲۱ سوال ۱۳.۷۹: $\lim\limits_{\substack{(x,y)\to(2,0)\\ 2x-y\neq 4}} \frac{\sqrt{2x-y}-2}{2x-y-4}$

۲۰۲۲۲ سوال ۱۳.۸۰: $\lim\limits_{\substack{(x,y)\to(4,3)\\ x\neq y+1}} \frac{\sqrt{x}-\sqrt{y+1}}{x-y-1}$

۲۰۲۲۳

۲۰۲۲۴ **تین متغیرات کے تفاعل کا حد**

۲۰۲۲۵ سوال ۱۳.۸۱ تا سوال ۱۳.۸۶ میں حد تلاش کریں۔

۲۰۲۲۶ سوال ۱۳.۸۱: $\lim\limits_{N\to(1,3,4)} \left(\frac{1}{x}+\frac{1}{y}+\frac{1}{z}\right)$

۲۰۲۲۷ سوال ۱۳.۸۲: $\lim\limits_{N\to(1,-1,-1)} \frac{2xy+yz}{x^2+z^2}$

۲۰۲۲۸ سوال ۱۳.۸۳: $\lim\limits_{N\to(3,3,0)} (\sin^2 x+\cos^2 y+\sec^2 z)$

۲۰۲۲۹ سوال ۱۳.۸۴: $\lim\limits_{N\to(-1/4,\pi/2,2)} \tan^{-1} xyz$

۲۰۲۳۰ سوال ۱۳.۸۵: $\lim\limits_{N\to(\pi,0,3)} ze^{-2y}\cos 2x$

۲۰۲۳۱ سوال ۱۳.۸۶: $\lim\limits_{N\to(0,-2,0)} \ln\sqrt{x^2+y^2+z^2}$

۲۰۲۳۲

۲۰۲۳۳ **مستوی میں استمرار**

۲۰۲۳۴ سوال ۱۳.۸۷ تا سوال ۱۳.۹۰ میں کس نقطہ (x,y) پر مستوی میں تفاعل استمراری ہیں؟

۲۰۲۳۵ سوال ۱۳.۸۷: (ا) $f(x,y)=\sin(x+y)$ (ب) $f(x,y)=\ln(x^2+y^2)$

۲۰۲۳۶ سوال ۱۳.۸۸: (ا) $f(x,y)=\frac{x+y}{x-y}$ (ب) $f(x,y)=\frac{y}{x^2+1}$

۲۰۲۳۷ سوال ۱۳.۸۹: (ا) $g(x,y)=\sin\frac{1}{xy}$ (ب) $g(x,y)=\frac{x+y}{2+\cos x}$

۲۰۲۳۸ سوال ۱۳.۹۰: (ا) $g(x,y)=\frac{x^2+y^2}{x^2-3x+2}$ (ب) $g(x,y)=\frac{1}{x^2-y}$

۲۰۲۳۹

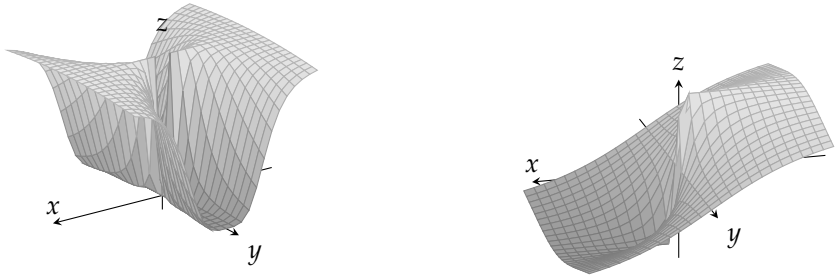

(ب) (ا)

شکل ۱۳.۲۱

۲۰۲۴۰ **فضا میں استمرار**

۲۰۲۴۱ سوال ۱۳.۹۱ تا سوال ۱۳.۹۴ میں کس نقطہ (x, y, z) پر فضا میں تفاعل استمراری ہیں؟

۲۰۲۴۲ سوال ۱۳.۹۱: (ا) $f(x, y, z) = x^2 + y^2 - 2z^2$ (ب) $f(x, y, z) = \sqrt{x^2 + y^2 - 1}$

۲۰۲۴۳ سوال ۱۳.۹۲: (ا) $f(x, y, z) = \ln xyz$ (ب) $f(x, y, z) = e^{x+y} \cos z$

۲۰۲۴۴ سوال ۱۳.۹۳: (ا) $h(x, y, z) = xy \sin \frac{1}{z}$ (ب) $h(x, y, z) = \frac{1}{x^2+z^2-1}$

۲۰۲۴۵ سوال ۱۳.۹۴: (ا) $h(x, y, z) = \frac{1}{|y|+|z|}$ (ب) $h(x, y, z) = \frac{1}{|xy|+|z|}$

۲۰۲۴۶

۲۰۲۴۷ **نقطہ پر حد غیر موجود**

۲۰۲۴۸ نقطہ تک مختلف راہ پر پہنچتے ہوئے سوال ۱۳.۹۵ تا سوال ۱۳.۱۰۲ میں دکھائیں کہ $(x, y) \to (0, 0)$ کرتے ہوئے تفاعل کا کوئی حد نہیں پایا جاتا ہے۔

۲۰۲۴۹ سوال ۱۳.۹۵: $f(x, y) = -\frac{x}{\sqrt{x^2+y^2}}$ (شکل ۱۳.۲۱-ا)

۲۰۲۵۰ سوال ۱۳.۹۶: $h(x, y) = \frac{x^4}{x^4+y^2}$ (شکل ۱۳.۲۱-ب)

۲۰۲۵۱ سوال ۱۳.۹۷: $h(x, y) = \frac{x^4-y^2}{x^4+y^2}$

۲۰۲۵۲ سوال ۱۳.۹۸: $f(x, y) = \frac{xy}{|xy|}$

۲۰۲۵۳ سوال ۱۳.۹۹: $g(x, y) = \frac{x-y}{x+y}$

۲۰۲۵۴ سوال ۱۳.۱۰۰: $g(x, y) = \frac{x+y}{x-y}$

۲۰۲۵۵ سوال ۱۳.۱۰۱: $h(x, y) = \frac{x^2+y}{y}$

سوال ۱۳.۱۰۲: $h(x,y) = \frac{x^2}{x^2-y}$

نظریہ اور مثالیں

سوال ۱۳.۱۰۳: کیا $\lim_{(x,y)\to(x_0,y_0)} f(x,y) = L$ کی صورت میں (x_0,y_0) کا معین ہونا لازمی ہے؟ اپنے جواب کی وجہ پیش کریں۔

سوال ۱۳.۱۰۴: اگر $f(x_0,y_0) = 3$ ہو تب درج ذیل کے بارے میں (ا) (x_0,y_0) پر استمراری f کی صورت میں،

$$\lim_{(x,y)\to(x_0,y_0)} f(x,y)$$

(ب) (x_0,y_0) پر غیر استمراری f کی صورت میں کیا کہا جا سکتا ہے۔ اپنے جواب کہ وجہ پیش کریں۔

دو متغیرات کے تفاعل کا مسئلہ پنچ کہتا ہے کہ اگر ایک قرص، جس کا مرکز (x_0,y_0) ہو، کے اندر تمام $(x,y) \neq (x_0,y_0)$ پر $g(x,y) \leq f(x,y) \leq h(x,y)$ ہو، اور $(x,y) \to (x_0,y_0)$ کرتے ہوئے g اور h دونوں کا حد متناہی اور L ہو تب

$$\lim_{(x,y)\to(x_0,y_0)} f(x,y) = L$$

ہو گا۔ سوال ۱۳.۱۰۵ تا سوال ۱۳.۱۱۰ میں اس نتیجہ کا سہارا لیتے ہوئے جواب دیں۔

سوال ۱۳.۱۰۵: کیا

$$1 - \frac{x^2y^2}{3} < \frac{\tan^{-1} xy}{xy} < 1$$

جانتے ہوئے آپ

$$\lim_{(x,y)\to(0,0)} \frac{\tan^{-1} xy}{xy}$$

کے بارے میں کچھ کہہ سکتے ہیں؟ اپنے جواب کی وجہ پیش کریں۔

سوال ۱۳.۱۰۶: کیا

$$2|xy| - \frac{x^2y^2}{6} < 4 - 4\cos\sqrt{|xy|} < 2|xy|$$

جانتے ہوئے

$$\lim_{(x,y)\to(0,0)} \frac{4 - 4\cos\sqrt{|xy|}}{|xy|}$$

کے بارے میں کچھ کہا جا سکتا ہے؟ اپنے جواب کی وجہ پیش کریں۔

سوال ۱۳.۱۰۷: کیا $\left|\sin(1/x)\right| \leq 1$ جانتے ہوئے درج ذیل کے بارے میں کچھ کہا جا سکتا ہے؟ اپنے جواب کی وجہ پیش کریں۔

$$\lim_{(x,y)\to(0,0)} y \sin \frac{1}{x}$$

سوال ۱۳.۱۰۸: کیا $\left|\cos(1/y)\right| \leq 1$ جانتے ہوئے درج ذیل کے بارے میں کچھ کہا جا سکتا ہے؟ اپنے جواب کی وجہ پیش کریں۔

$$\lim_{(x,y)\to(0,0)} x \cos \frac{1}{y}$$

سوال ۱۳.۱۰۹: (ا) دوبارہ مثال ۱۳.۱۲ کو پڑھیں۔ اب درج ذیل کلیہ میں $m = \tan\theta$ پر کر کے اس کی سادہ صورت حاصل کرتے ہوئے دکھائیں کہ f کی قیمت لکیر کے زاویہ میلان پر منحصر ہی گی۔

$$f(x,y)\big|_{y=mx} = \frac{2m}{1+m^2}$$

(ب) جزو-ا میں حاصل کلیہ استعمال کرتے ہوئے دکھائیں کہ لکیر $y = mx$ پر چلتے ہوئے $(x,y) \to (0,0)$ کرنے سے f کے حد کی قیمت -1 تا 1 ہو سکتی ہے جو قریب پہنچنے کی راہ کے زاویہ پر منحصر ہو گی۔

سوال ۱۳.۱۱۰: $f(0,0)$ کی ایسی تعریف پیش کریں جو درج ذیل کو مبدا پر بھی استمراری بناتا ہو۔

$$f(x,y) = xy\frac{x^2-y^2}{x^2+y^2}$$

قطبی محدد میں تبادلہ

اگر کارتیسی محدد میں $\lim_{(x,y)\to(0,0)} f(x,y)$ کے حصول میں پیش رفت نہ ہو تب قطبی محدد میں حد تلاش کرنے کی کوشش کریں۔ ایسا کرنے کی خاطر $x = r\cos\theta$ اور $y = r\sin\theta$ کرتے ہوئے $r \to 0$ کے لئے حاصل تفاعل کا حد تلاش کریں۔ دوسرے الفاظ میں یہ دیکھنے کی کوشش کریں کہ آیا کوئی ایسا عدد L پایا جاتا ہے جو درج ذیل کو مطمئن کرتا ہو:

کسی بھی دیے گئے عدد $\epsilon > 0$ کا ایسا مطابقتی عدد $\delta > 0$ پایا جاتا ہو کہ تمام r اور θ کے لئے درج ذیل ہو۔

$$|r| < \delta \implies \left|f(r,\theta) - L\right| < \epsilon$$

اگر ایسا L موجود ہو تب

$$\lim_{(x,y)\to(0,0)} f(x,y) = \lim_{r\to 0} f(r,\theta) = L \tag{۴}$$

ہو گا۔ مثال کے طور پر

$$\lim_{(x,y)\to(0,0)} \frac{x^3}{x^2+y^2} = \lim_{r\to 0} \frac{r^3\cos^3\theta}{r^2} = \lim_{r\to 0} r\cos^3\theta = 0$$

ہو گا۔ آخری عدم مساوات کی تصدیق کرنے کی خاطر ہمیں دکھانا ہو گا کہ $f(r,\theta) = r\cos^3\theta$ اور L مساوات ۴ کو مطمئن کرتے ہیں۔ یعنی ہمیں دکھانا ہو گا کہ کسی بھی دیے گئے عدد $\epsilon > 0$ کے لئے ایسا مطابق عدد $\delta > 0$ موجود ہے کہ تمام r اور θ کے لئے درج ذیل مطمئن ہو۔

$$|r| < \delta \implies \left|r\cos^3\theta - 0\right| < \epsilon \tag{۵}$$

چونکہ

$$\left|r\cos^3\theta\right| = |r|\left|\cos^3\theta\right| \le |r|\cdot 1 = |r|$$

ہوتا ہے لہٰذا $\delta = \epsilon$ لینے سے تمام r اور θ کے لئے مساوات ۵ مطمئن ہو گا۔

اس کے برعکس $|r|$ جتنا بھی چھوٹا کیوں نا ہو درج ذیل تفاعل کی قیمت 0 سے 1 تک ہو سکتی ہے لہٰذا $\lim_{(x,y)\to(0,0)} \frac{x^2}{x^2+y^2}$ غیر موجود ہو گا۔

$$\frac{x^2}{x^2+y^2} = \frac{r^2\cos^2\theta}{r^2} = \cos^2\theta$$

درج بالا دو تفاعل میں $r \to 0$ کرتے ہوئے حد کی موجودگی یا غیر موجودگی کا مسئلہ سیدھا تھا۔ البتہ ضروری نہیں کہ قطبی محدد میں تبادلہ سود مند ثابت ہو، بلکہ بعض اوقات ایسا کرنے سے ہم بالکل غلط نتیجہ کی طرف راغب ہو سکتے ہیں۔ مثال کے طور پر، تمام سیدھے خطوط $\theta = c$، جہاں c مستقل ہے، پر حد موجود ہو سکتا ہے اگرچہ وسیع معنوں میں حد غیر موجود ہو گا۔ مثال ۱۳.۱۳ میں اس حقیقت کی وضاحت کی گئی ہے۔ قطبی محدد میں $r \neq 0$ کے لئے $f(x,y) = \frac{2x^2y}{x^4+y^2}$ درج ذیل ہو گا۔

$$f(r\cos\theta, r\sin\theta) = \frac{r\cos\theta\sin 2\theta}{r^2\cos^4\theta + \sin^2\theta}$$

اب θ برقرار رکھتے ہوئے $r \to 0$ کرنے سے حد 0 ملتا ہے۔ البتہ راہ $y = x^2$ پر $r\sin\theta = r^2\cos^2\theta$ لہٰذا درج ذیل ہو گا۔

$$\begin{aligned} f(r\cos\theta, r\sin\theta) &= \frac{r\cos\theta\sin 2\theta}{r^2\cos^4\theta + (r\cos^2\theta)^2} \\ &= \frac{2r\cos^2\theta\sin\theta}{2r^2\cos^4\theta} = \frac{r\sin\theta}{r^2\cos^2\theta} = 1 \end{aligned}$$

سوال ۱۳.۱۱۱ تا سوال ۱۳.۱۱۶ میں $(x,y) \to (0,0)$ کرتے ہوئے f کا حد تلاش کریں یا دکھائیں کہ اس کا حد غیر موجود ہے۔

سوال ۱۳.۱۱۱: $f(x,y) = \frac{x^3-xy^2}{x^2+y^2}$

سوال ۱۳.۱۱۲: $f(x,y) = \cos\left(\frac{x^3-y^3}{x^2+y^2}\right)$

سوال ۱۳.۱۱۳: $f(x,y) = \frac{y^2}{x^2+y^2}$

سوال ۱۳.۱۱۴: $f(x,y) = \frac{2x}{x^2+x+y^2}$

سوال ۱۳.۱۱۵: $f(x,y) = \tan^{-1}\left(\frac{|x|+|y|}{x^2+y^2}\right)$

سوال ۱۳.۱۱۶: $f(x,y) = \frac{x^2-y^2}{x^2+y^2}$

سوال ۱۳.۱۱۷ اور سوال ۱۳.۱۱۸ میں $f(0,0)$ کی ایسی تعریف پیش کریں کہ f مبدا پر بھی استمراری ہو۔

سوال ۱۳.۱۱۷: $f(x,y) = \ln\left(\frac{3x^2-x^2y^2+3y^2}{x^2+y^2}\right)$

سوال ۱۳.۱۱۸: $f(x,y) = \frac{2xy^2}{x^2+y^2}$

$\delta\epsilon$ تعریفات کا استعمال

سوال ۱۳.۱۱۹: دکھائیں کہ حد کی تعریف (مساوات ۱) میں $\delta\epsilon$ پر عائد شرط مساوات ۲ میں دی گئی شرط کے مترادف ہے۔

سوال ۱۳.۱۲۰: $(x,y) \to (x_0,y_0)$ کرتے ہوئے تفاعل $f(x,y)$ کی حدوں کی باضابطہ $\delta\epsilon$ تعریف کو مد نظر رکھتے ہوئے $(x,y,z) \to (x_0,y_0,z_0)$ کرتے ہوئے $g(x,y,z)$ کی حدوں کی تعریف پیش کریں۔ چار غیر تابع متغیرات کے تفاعل $h(x,y,z,t)$ کی حد کی تعریف کیا ہو گی؟

سوال ۱۳.۱۲۱ تا سوال ۱۳.۱۲۴ میں تفاعل $f(x,y)$ اور مثبت عدد ϵ دیے گئے ہیں۔ ہر ایک سوال میں یاد کھائیں کہ ایسا $\delta > 0$ موجود ہے کہ (x,y) کے لئے

$$\sqrt{x^2+y^2} < \delta \implies |f(x,y) - f(0,0)| < \epsilon$$

مطمئن ہوتا ہے یاد کھائیں کہ ایسا $\delta > 0$ موجود ہے کہ تمام (x,y) کے لئے

$$|x| < \delta, \quad |y| < \delta \implies |f(x,y) - f(0,0)| < \epsilon$$

مطمئن ہوتا ہے۔ ان میں سے وہ دکھائیں جو آپ کو زیادہ آسان لگے۔ دونوں دکھانے کی ضرورت نہیں ہے۔

سوال ۱۳.۱۲۱: $f(x,y) = x^2+y^2, \quad \epsilon = 0.01$

سوال ۱۳.۱۲۲: $f(x,y) = \frac{y}{x^2+1}, \quad \epsilon = 0.05$

سوال ۱۳.۱۲۳: $f(x,y) = \frac{x+y}{x^2+1}, \quad \epsilon = 0.01$

سوال ۱۳.۱۲۴: $f(x,y) = \frac{x+y}{2+\cos x}, \quad \epsilon = 0.02$

سوال ۱۳.۱۲۵ تا سوال ۱۳.۱۲۸ میں تفاعل $f(x,y,z)$ اور مثبت عدد ϵ دیے گئے ہیں۔ ہر ایک سوال میں یاد کھائیں کہ ایسا $\delta > 0$ موجود ہے کہ (x,y,z) کے لئے

$$\sqrt{x^2+y^2+z^2} < \delta \implies \left|f(x,y,z) - f(0,0,0)\right| < \epsilon$$

مطمئن ہوتا ہے یاد کھائیں کہ ایسا $\delta > 0$ موجود ہے کہ تمام (x,y,z) کے لئے

$$|x| < \delta, \quad |y| < \delta, \quad |z| < \delta \implies \left|f(x,y,z) - f(0,0,0)\right| < \epsilon$$

مطمئن ہوتا ہے۔ ان میں سے وہ دکھائیں جو آپ کو زیادہ آسان لگے۔ دونوں دکھانے کی ضرورت نہیں ہے۔

سوال ۱۳.۱۲۵: $f(x,y,z) = x^2+y^2+z^2, \quad \epsilon = 0.015$

سوال ۱۳.۱۲۶: $f(x,y,z) = xyz, \quad \epsilon = 0.008$

سوال ۱۳.۱۲۷: $f(x,y,z) = \frac{x+y+z}{x^2+y^2+z^2+1}, \quad \epsilon = 0.015$

سوال ۱۳.۱۲۸: $f(x,y,z) = \tan^2 x + \tan^2 y + \tan^2 z, \quad \epsilon = 0.03$

سوال ۱۳.۱۲۹: دکھائیں کہ ہر نقطہ (x_0,y_0,z_0) پر تفاعل $f(x,y,z) = x+y-z$ استمراری ہے۔

سوال ۱۳.۱۳۰: دکھائیں کہ مبدا پر $f(x,y,z) = x^2+y^2+z^2$ استمراری ہے۔

۱۳.۳ جزوی تفرقات

جب ہم ماسوائے ایک غیر تابع متغیر کے باقی تمام کو برقرار رکھیں اور اس ایک متغیر کے لحاظ سے تفاعل کا تفرق لیں تو ہمیں ''جزوی'' تفرق حاصل ہوتا ہے۔ اس حصہ میں دکھایا جائے گا کہ جزوی تفرقات کیسے پائے جاتے ہیں اور واحد متغیر کے تفاعل کے تفرق کے قواعد بروئے کار لاتے ہوئے جزوی تفرقات کی قیمت کے حصول کے بارے میں بتایا جائے گا۔

تعریفات اور علامتیت

اگر تفاعل $f(x,y)$ کے دائرہ کار میں (x_0,y_0) ایک نقطہ ہو تب انتصابی سطح $y = y_0$ سطح $z = f(x,y)$ کو منحنی $z = f(x,y_0)$ میں مس کرے گا (شکل ۱۳.۲۲)۔ یہ منحنی مستوی $y = y_0$ میں تفاعل $z = f(x,y_0)$ کی ترسیم ہو گی۔ اس مستوی میں افقی محدد x ہے؛ انتصابی محدد z ہے۔

ہم نقطہ (x_0,y_0) پر x کے لحاظ سے f کے جزوی تفرق سے مراد نقطہ $x = x_0$ پر $f(x,y_0)$ کا سادہ تفرق لیتے ہیں۔

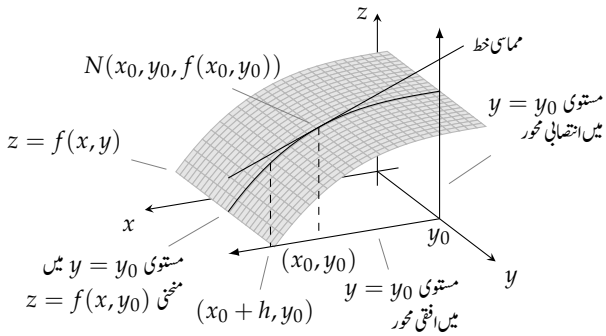

شکل ۱۳.۲۲: مستوی $y = y_0$ اور سطح $z = f(x, y)$ کا تقاطع۔

۲۰۳۴۴ تعریف: نقطہ (x_0, y_0) پر x کے لحاظ سے $f(x, y)$ کا جزوی تفرق[۳۲]

$$\left.\frac{\partial f}{\partial x}\right|_{(x_0,y_0)} = \left.\frac{\mathrm{d}}{\mathrm{d}x} f(x, y_0)\right|_{x=x_0} = \lim_{h\to 0} \frac{f(x_0 + h, y_0) - f(x_0, y_0)}{h} \tag{۱}$$

۲۰۳۴۵ ہو گا بشرطیکہ یہ حد موجود ہو۔ (آپ ∂ کو d کی ایک قسم تصور کریں۔)

۲۰۳۴۶ □

۲۰۳۴۷ نقطہ $N(x_0, y_0, f(x_0, y_0))$ پر مستوی $y = y_0$ میں منحنی $z = f(x, y_0)$ کی ڈھلوان سے مراد نقطہ (x_0, y_0)
۲۰۳۴۸ پر x کے لحاظ سے f کے جزوی تفرق کی قیمت ہے۔ نقطہ N پر منحنی کا مماسی خط، مستوی $y = y_0$ میں وہ خط ہے جو N سے گزرتا ہو اور جس
۲۰۳۴۹ کی ڈھلوان یہی ہو۔ جب y کی قیمت برقرار y_0 رکھی جائے تب x کے لحاظ سے f کی شرح تبدیلی نقطہ (x_0, y_0) پر جزوی تفرق $\frac{\partial f}{\partial x}$ دیتا ہے۔ یہ
۲۰۳۵۰ نقطہ (x_0, y_0) پر i کے رخ f کی شرح تبدیلی ہے۔

۲۰۳۵۱ جزوی تفرق کی علامت اس چیز پر منحصر ہو گی جس پر ہم زور دینا چاہتے ہیں۔ یوں درج ذیل علامت اس وقت استعمال کیے جائیں گے جب ہم نقطہ (x_0, y_0)
۲۰۳۵۲ پر زور دینا چاہیں۔

$$\frac{\partial f}{\partial x}(x_0, y_0), \quad f_x(x_0, y_0)$$

۲۰۳۵۳ سائنس اور انجینئری میں درج ذیل علامت مقبول ہے جہاں تفاعل کا صریحاً ذکر کیے بغیر نقطہ (x_0, y_0) پر x کے لحاظ سے z کا جزوی تفرق لیا گیا ہے۔

$$\left.\frac{\partial z}{\partial x}\right|_{(x_0,y_0)}$$

---

[۳۲] partialderivative

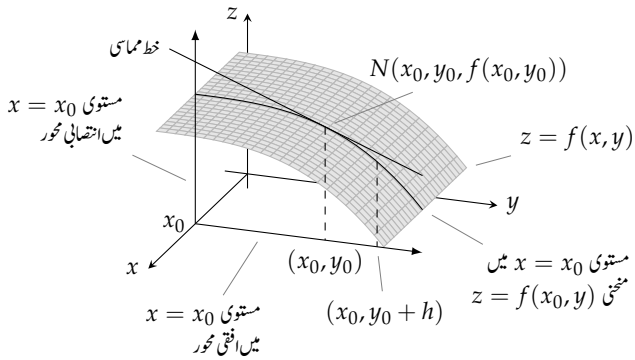

شکل ۱۳.۲۳: مستوی $x = x_0$ اور سطح $z = f(x, y)$ کا تقاطع۔

جہاں جزوی تفرق کو ایک تفاعل تصور کرنا مقصود ہو وہاں درج ذیل علامت استعمال کیے جائیں گے، جہاں x لے لحاظ سے f (یا z) کے جزوی تفرقات لیے گئے ہیں۔

$$f_x, \quad \frac{\partial f}{\partial x}, \quad z_x, \quad \frac{\partial z}{\partial x}$$

نقطہ (x_0, y_0) پر y کے لحاظ سے $f(x, y)$ کے جزوی تفرق کی تعریف، x کے لحاظ سے f کی جزوی تفرق کی تعریف کی طرح ہے۔ ہم x کو x_0 رکھتے ہوئے y_0 پر y کے لحاظ سے $f(x_0, y)$ کا سادہ تفرق لیتے ہیں۔

تعریف: نقطہ (x_0, y_0) پر y کے لحاظ سے $f(x, y)$ کا جزوی تفرق[۳۳]

$$\left.\frac{\partial f}{\partial y}\right|_{(x_0,y_0)} = \left.\frac{\mathrm{d}}{\mathrm{d}y} f(x_0, y)\right|_{y=y_0} = \lim_{h\to 0} \frac{f(x_0, y_0 + h) - f(x_0, y_0)}{h} \tag{۲}$$

ہو گا بشرطیکہ یہ حد موجود ہو۔

□

نقطہ $N(x_0, y_0, f(x_0, y_0))$ پر مستوی $x = x_0$ میں منحنی $z = f(x, y)$ کی ڈھلوان سے مراد نقطہ (x_0, y_0) پر y کے لحاظ سے f کے جزوی تفرق کی قیمت ہے (شکل ۱۳.۲۳)۔ نقطہ N پر منحنی کا مماسی خط، مستوی $x = x_0$ میں وہ خط ہے جو N سے گزرتا ہو اور جس کی ڈھلوان یہی ہو۔ جب x کی قیمت برقرار x_0 رکھی جائے تب y کے لحاظ سے f کی شرح تبدیلی نقطہ (x_0, y_0) پر جزوی تفرق $\frac{\partial f}{\partial y}$ دیتا ہے۔ یہ نقطہ (x_0, y_0) پر $\boldsymbol{j}$ کے رخ f کی شرح تبدیلی ہے۔

---

[۳۳] partialderivative

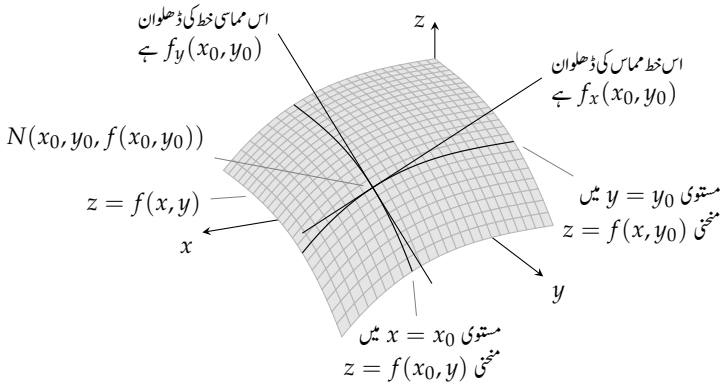

شکل ۱۳.۲۴: نقطہ N پر دو مماس کا تعین کردہ سطح ظاہری طور پر $z = f(x, y)$ کو مماسی نظر آتا ہے۔

۲۰۳۶۵ متغیر y کے لحاظ سے جزوی تفرق کو x کے لحاظ سے جزوی تفرق کی طرح لکھا جاتا ہے:

$$\frac{\partial f}{\partial y}(x_0, y_0), \quad f_y(x_0, y_0), \quad \frac{\partial f}{\partial y}, \quad f_y$$

۲۰۳۶۶ دھیان رہے کہ نقطہ (x_0, y_0) پر اب سطح $z = f(x, y)$ کے ساتھ دو مماسی خط منسلک ہیں (شکل ۱۳.۲۴)۔ شکل ۱۳.۲۴ میں ظاہری طور پر دو
۲۰۳۶۷ مماس کا تعین کردہ سطح نقطہ N پر $z = f(x, y)$ کو مماسی نظر آتا ہے۔ کیا ایسے دو مماسی کا تعین کردہ سطح نقطہ N پر $z = f(x, y)$ کو مماسی
۲۰۳۶۸ ہو گا؟ جزوی تفرق کے بارے میں مزید معلومات جاننے کے بعد ہم اس سوال کا جواب دے پائیں گے۔

۲۰۳۶۹ **حساب**

۲۰۳۷۰ جیسا ہم مساوات اسے جانتے ہیں، y کو مستقل تصور کرتے ہوئے x کے لحاظ سے f کا سادہ تفرق ہمیں $\frac{\partial f}{\partial x}$ دیگا۔ اسی طرح مساوات ۲ کہتی ہے کہ x کو
۲۰۳۷۱ مستقل ٹھراتے ہوئے y کے لحاظ سے f کا سادہ تفرق ہمیں $\frac{\partial f}{\partial y}$ دیگا۔

۲۰۳۷۲ مثال ۱۳.۱۴: نقطہ $(4, -5)$ پر درج ذیل کے لئے $\frac{\partial f}{\partial x}$ اور $\frac{\partial f}{\partial y}$ کی قیمتیں تلاش کریں۔

$$f(x, y) = x^2 + 3xy + y - 1$$

۲۰۳۷۳ حل: ہم y کو مستقل تصور کرتے ہوئے x کے لحاظ سے f کا تفرق لے کر $\frac{\partial f}{\partial x}$ حاصل کرتے ہیں۔

$$\frac{\partial f}{\partial x} = \frac{\partial}{\partial x}(x^2 + 3xy + y - 1) = 2x + 3 \cdot 1 \cdot y + 0 - 0 = 2x + 3y$$

۲۰۳۷۴ نقطہ $(4, -5)$ پر $\frac{\partial f}{\partial x}$ کی قیمت $2(4) + 3(-5) = -7$ ہو گی۔

۲۰۳۷۵ اسی طرح ہم x کو مستقل تصور کرتے ہوئے y کے لحاظ سے f کا تفرق لے کر $\frac{\partial f}{\partial y}$ حاصل کرتے ہیں۔

$$\frac{\partial f}{\partial y} = \frac{\partial}{\partial x}(x^2 + 3xy + y - 1) = 0 + 3 \cdot x \cdot 1 + 1 - 0 = 3x + 1$$

۲۰۳۷۶ نقطہ $(4, -5)$ پر $\frac{\partial f}{\partial y}$ کی قیمت $3(4) + 1 = 13$ ہو گی۔ □

۲۰۳۷۷ مثال ۱۳.۱۵: تفاعل $f(x, y) = y \sin xy$ کا $\frac{\partial f}{\partial y}$ معلوم کریں۔

۲۰۳۷۸ حل: ہم x کو مستقل تصور جبکہ f کو y اور $\sin xy$ کا حاصل ضرب تصور کرتے ہیں:

$$\begin{aligned}\frac{\partial f}{\partial y} &= \frac{\partial}{\partial y}(y \sin xy) = y\frac{\partial}{\partial y}\sin xy + (\sin xy)\frac{\partial}{\partial y}(y)\\ &= (y \cos xy)\frac{\partial}{\partial y}(xy) + \sin xy = xy \cos xy + \sin xy\end{aligned}$$

۲۰۳۷۹ □

۲۰۳۸۰ **فنیات**

۲۰۳۸۱ جزوی تفرق کمپیوٹر آپ کو حساب میں کئی بعد تک مدد فراہم کر سکتا ہے۔ آپ ایک غیر تابع متغیر کے علاوہ تمام متغیرات کی قیمتیں فراہم کر کے واحد متغیر کے
۲۰۳۸۲ لحاظ سے جزوی تفرق معلوم کر کے ترسیم کر سکتے ہیں۔ جزوی تفرق اور سادہ تفرق کے لئے کمپیوٹر کی زبان میں عموماً ایک سی اصطلاح استعمال کی جاتی ہے۔ جزوی
۲۰۳۸۳ تفرقات کے حصول میں کمپیوٹر ضرور استعمال کریں۔

۲۰۳۸۴ مثال ۱۳.۱۶: تفاعل $f(x, y) = \frac{2y}{y+\cos x}$ کے لئے f_x تلاش کریں۔

۲۰۳۸۵ حل: ہم f کو حاصل تقسیم تصور کر کے y کو مستقل ٹھہرا کر درج ذیل حاصل کرتے ہیں۔

$$\begin{aligned}f_x &= \frac{\partial}{\partial x}\left(\frac{2y}{y + \cos x}\right) = \frac{(y + \cos x)\frac{\partial}{\partial x}(2y) - 2y\frac{\partial}{\partial x}(y + \cos x)}{(y + \cos x)^2}\\ &= \frac{(y + \cos x)(0) - 2y(-\sin x)}{(y + \cos x)^2} = \frac{2y \sin x}{(y + \cos x)^2}\end{aligned}$$

۲۰۳۸۶ □

۲۰۳۸۷ مثال ۱۳.۱۷: مستوی $x = 1$ قطع مکافی سطح $z = x^2 + y^2$ کو قطع مکافی میں قطع کرتا ہے۔ نقطہ $(1, 2, 5)$ پر اس قطع مکافی کے مماس
۲۰۳۸۸ کی ڈھلوان تلاش کریں۔

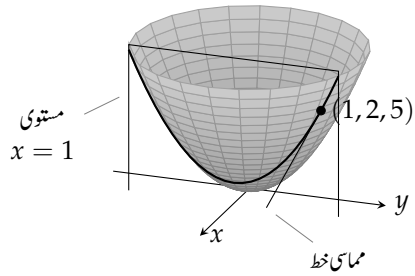

شکل ۱۳.۲۵: مستوی $x = 1$ اور سطح $z = x^2 + y^2$ کے تقاطع منحنی کا نقطہ $(1,2,5)$ پر مماس (مثال ۱۳.۱۷)۔

۲۰۳۸۹ حل: مماس کی ڈھلوان نقطہ $(1,2)$ پر جزوی تفرق $\frac{\partial z}{\partial y}$ کی قیمت ہو گی (شکل ۱۳.۲۵):

$$\left.\frac{\partial z}{\partial y}\right|_{(1,2)} = \left.\frac{\partial}{\partial y}(x^2+y^2)\right|_{(1,2)} = 2y\big|_{(1,2)} = 2(2) = 4$$

۲۰۳۹۰ تصدیق کی خاطر ہم قطع مکافی کو واحد متغیر تفاعل $z = (1)^2 + y^2 = 1 + y^2$ کی مستوی $x = 1$ میں ترسیم تصور کر کے $y = 2$ پر
۲۰۳۹۱ اس کی ڈھلوان حاصل کرتے ہیں۔ یہ ڈھلوان جس کو سادہ تفرق سے حاصل کیا جاتا ہے درج ذیل ہو گا۔

$$\left.\frac{\mathrm{d}z}{\mathrm{d}y}\right|_{y=2} = \left.\frac{\mathrm{d}}{\mathrm{d}y}(1+y^2)\right|_{y=2} = 2y\big|_{y=2} = 4$$

۲۰۳۹۲ □

۲۰۳۹۳ سادہ تفرق کی طرح جزوی تفرق کے لئے بھی خفی تفرق کارآمد ہے۔

۲۰۳۹۴ مثال ۱۳.۱۸: اگر درج ذیل مساوات دو غیر تابع متغیرات x اور y کا تفاعل z دیتی ہو جس کا جزوی تفرق موجود ہو تب $\frac{\partial z}{\partial x}$ تلاش کریں۔

$$yz - \ln z = x + y$$

۲۰۳۹۵ حل: ہم y کو مستقل اور z کو x کا تفاعل تصور کرتے ہوئے مساوات کے دونوں اطراف کا x کے لحاظ سے تفرق لیتے ہیں:

$$\begin{aligned}
\frac{\partial}{\partial x}(yz) - \frac{\partial}{\partial x}\ln z &= \frac{\partial x}{\partial x} + \frac{\partial y}{\partial x} \\
y\frac{\partial z}{\partial x} - \frac{1}{z}\frac{\partial z}{\partial x} &= 1 + 0 && y \text{ مستقل} \\
\left(y - \frac{1}{z}\right)\frac{\partial z}{\partial x} &= 1 && \frac{\partial}{\partial x}(yz) = y\frac{\partial z}{\partial x} \\
\frac{\partial z}{\partial x} &= \frac{z}{yz-1}
\end{aligned}$$

۲۰۳۹۶ □

۲۰۳۹۷ **دو سے زیادہ متغیرات کے تفاعل**

۲۰۳۹۸ دو سے زیادہ متغیرات کے تفاعل کے جزوی تفرق کی تعریف، دو متغیرات کے تفاعل کے جزوی تفرق کی طرح ہے۔ یہ ایک متغیر کے لحاظ سے سادہ تفرق ہوتے
۲۰۳۹۹ ہیں جبکہ باقی تمام متغیرات کو مستقل تصور کیا جاتا ہے۔

۲۰۴۰۰ مثال ۱۳.۱۹: اگر x ، y اور z غیر تابع متغیرات ہوں جن کا تفاعل

$$f(x,y,z) = x\sin(y+3z)$$

۲۰۴۰۱ ہو تب درج ذیل ہو گا۔

$$\begin{aligned}\frac{\partial f}{\partial z} &= \frac{\partial}{\partial z}[x\sin(y+3z)] = x\frac{\partial}{\partial z}\sin(y+3z)\\ &= x\cos(y+3z)\frac{\partial}{\partial z}(y+3z) = 3x\cos(y+3z)\end{aligned}$$

۲۰۴۰۲ □

۲۰۴۰۳ مثال ۱۳.۲۰: متوازی جڑے برقی مزاحمت

۲۰۴۰۴ اگر R_1 ، R_2 اور R_3 مزاحمت متوازی جڑے ہوں تب ان کا معادل مزاحمت R درج ذیل کلیہ سے حاصل کیا جا سکتا ہے (شکل ۱۳.۲۶)۔

$$\frac{1}{R} = \frac{1}{R_1} + \frac{1}{R_2} + \frac{1}{R_3} \tag{۳}$$

۲۰۴۰۵ برقی مزاحمتوں کی قیمتیں $R_1 = 30\,\Omega$ ، $R_2 = 45\,\Omega$ ، $R_3 = 90\,\Omega$ لیتے ہوئے جزوی تفرق $\frac{\partial R}{\partial R_2}$ حاصل کریں۔

۲۰۴۰۶ حل: ہم R_1 اور R_3 کو مستقل تصور کرتے ہوئے $\frac{\partial R}{\partial R_2}$ تلاش کرنے کی خاطر مساوات ۳ کے دونوں اطراف کا R_2 کے لحاظ سے تفرق لیتے ہیں۔

$$\begin{aligned}\frac{\partial}{\partial R_2}\left(\frac{1}{R}\right) &= \frac{\partial}{\partial R_2}\left(\frac{1}{R_1} + \frac{1}{R_2} + \frac{1}{R_3}\right)\\ -\frac{1}{R^2}\frac{\partial R}{\partial R_2} &= 0 - \frac{1}{R_2^2} + 0\\ \frac{\partial R}{\partial R_2} &= \frac{R^2}{R_2^2} = \left(\frac{R}{R_2}\right)^2\end{aligned}$$

۲۰۴۰۷ مزاحمتوں کی دی گئی قیمتیں پر کرتے ہیں۔

$$\frac{1}{R} = \frac{1}{30} + \frac{1}{45} + \frac{1}{90} = \frac{3+2+1}{90} = \frac{6}{90} = \frac{1}{15}$$

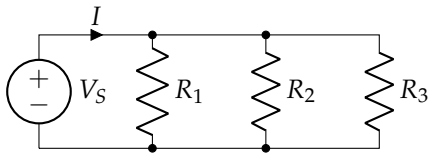

شکل ۱۳.۲۶: اس طرح جوڑے گئے مزاحمتوں کو متوازی جڑا کہتے ہیں۔

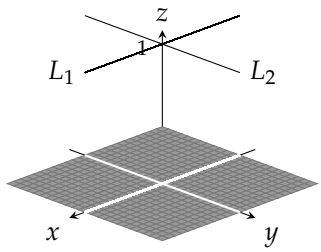

شکل ۱۳.۲۷: تفاعل f چار کھلے ربعات اور لکیر L_1 ، L_2 پر مشتمل ہے (مثال ۱۳.۲۱)۔

۲۰۴۰۸ یوں $R = 15\,\Omega$ حاصل ہوتا ہے لہٰذا درج ذیل نتیجہ حاصل ہوگا۔

$$\frac{\partial R}{\partial R_2} = \left(\frac{15}{45}\right)^2 = \left(\frac{1}{3}\right)^2 = \frac{1}{9}$$

۲۰۴۰۹ □

۲۰۴۱۰ استمرار اور جزوی تفرق کی موجودگی کا تعلق

۲۰۴۱۱ ایک نقطہ پر ایک تفاعل کا x اور y دونوں کے لحاظ سے جزوی تفرق موجود ہونے کے باوجود تفاعل غیر استمراری ہو سکتا ہے۔ یہ واحد متغیر تفاعل سے مختلف
۲۰۴۱۲ ہے جہاں تفاعل کے تفرق کی موجودگی اس کی استمراریقینی بناتی ہے۔ ہاں (جیسا ہم اگلے حصہ میں دیکھیں گے)، اگر ایک قرص میں، جس کا مرکز (x_0, y_0)
۲۰۴۱۳ ہو، $f(x, y)$ کے جزوی تفرق موجود ہوں جو پورے قرص میں استمراری ہوں تب (x_0, y_0) پر f استمراری ہوگا۔

۲۰۴۱۴ مثال ۱۳.۲۱: درج ذیل تفاعل

$$f(x, y) = \begin{cases} 0, & xy \neq 0 \\ 1, & xy = 0 \end{cases}$$

۲۰۴۱۵ نقطہ $(0,0)$ پر غیر استمراری ہے (شکل ۱۳.۲۷)۔ لکیر $y = x$ پر چلتے ہوئے نقطہ (x, y) کا (x_0, y_0) تک پہنچنے سے f کا حد 0 حاصل
۲۰۴۱۶ ہوتا ہے جبکہ $f(0,0) = 1$ ہے۔ نقطہ $(0,0)$ پر f کے جزوی تفرقات f_x ، f_y ، جو شکل میں خط L_1 اور L_2 کی ڈھلوان ہیں، دونوں
۲۰۴۱۷ موجود ہیں۔ □

۲۰۴۱۸ **دور تبی جزوی تفرقات**

۲۰۴۱۹ تفاعل $f(x, y)$ کو دو بار تفرق کرنے سے ہمیں اس تفاعل کا دور تبی تفرق ملتا ہے۔ ان تفرقات کو عموماً درج ذیل سے ظاہر کیا جاتا ہے۔

$$\frac{\partial^2 f}{\partial x^2} \quad \text{یا} \quad f_{xx}$$
$$\frac{\partial^2 f}{\partial y^2} \quad \text{یا} \quad f_{yy}$$
$$\frac{\partial^2 f}{\partial x \partial y} \quad \text{یا} \quad f_{yx}$$
$$\frac{\partial^2 f}{\partial y \partial x} \quad \text{یا} \quad f_{xy}$$

۲۰۴۲۰ ان کی تعریفی مساوات درج ذیل ہیں

$$\frac{\partial^2 f}{\partial x^2} = \frac{\partial}{\partial x}\left(\frac{\partial f}{\partial x}\right), \quad \frac{\partial^2 f}{\partial x \partial y} = \frac{\partial}{\partial x}\left(\frac{\partial f}{\partial y}\right)$$

۲۰۴۲۱ جہاں تفرق لینے کی ترتیب دھیان سے دیکھیں۔

$$\frac{\partial^2 f}{\partial x \partial y} = \frac{\partial}{\partial x}\left(\frac{\partial f}{\partial y}\right)$$

پہلے y اور بعد میں x کے ساتھ تفرق لیں

$$f_{yx} = (f_y)_x$$

ان کا بھی یہی مطلب ہے۔

۲۰۴۲۲ مثال ۱۳.۲۲: اگر $f(x, y) = x \cos y + ye^x$ ہو تب

$$\frac{\partial f}{\partial x} = \cos y + ye^x$$
$$\frac{\partial^2 f}{\partial y \partial x} = \frac{\partial}{\partial y}\left(\frac{\partial f}{\partial x}\right) = -\sin y + e^x$$
$$\frac{\partial^2 f}{\partial x^2} = \frac{\partial}{\partial x}\left(\frac{\partial f}{\partial x}\right) = ye^x$$

۲۰۴۲۳ اور درج ذیل ہوں گے۔

$$\frac{\partial f}{\partial y} = -x \sin y + e^x$$
$$\frac{\partial^2 f}{\partial x \partial y} = \frac{\partial}{\partial x}\left(\frac{\partial f}{\partial y}\right) = -\sin y + e^x$$
$$\frac{\partial^2 f}{\partial y^2} = \frac{\partial}{\partial y}\left(\frac{\partial f}{\partial y}\right) = -x \cos y$$

۲۰۴۲۴ □

۲۰۴۲۵ مسئلہ یولر

۲۰۴۲۶ آپ نے مثال ۱۳.۲۲ میں دھیان دیا ہو گا کہ مدغم دور تبی جزوی تفرقات

$$\frac{\partial^2 f}{\partial y \partial x} \qquad \frac{\partial^2 f}{\partial x \partial y}$$

۲۰۴۲۷ کی قیمتیں ایک سی تھیں۔ یہ محض اتفاق نہیں ہے۔ جہاں بھی f ، f_x ، f_y ، f_{xy} اور f_{yx} استمراری ہوں یہ ایک دوسرے کے برابر ہوں گے۔

۲۰۴۲۸ مسئلہ ۱۳.۲: **مدغم تفرق مسئلہ یا مسئلہ یولر**

۲۰۴۲۹ اگر ایک کھلے خطہ میں، جس میں نقطہ (a, b) پایا جاتا ہو، $f(x, y)$ اور اس کے جزوی تفرقات f_x ، f_y ، f_{xy} اور f_{yx} معین ہوں اور
۲۰۴۳۰ (a, b) پر یہ تمام استمراری ہوں تب درج ذیل ہو گا۔

$$f_{xy}(a, b) = f_{yx}(a, b) \tag{۴}$$

۲۰۴۳۱

۲۰۴۳۲ مسئلہ یولر (مسئلہ ۱۳.۲) کا ثبوت آپ کو ضمیمہ ط میں ملے گا۔

۲۰۴۳۳ مسئلہ ۱۳.۲ کہتا ہے کہ مدغم دور تبی جزوی تفرق کے حصول میں ہم کسی بھی ترتیب سے تفرق لے سکتے ہیں۔ بعض اوقات ایسا مددگار ثابت ہوتا ہے۔

۲۰۴۳۴ مثال ۱۳.۲۳: درج ذیل تفاعل کے لئے $\frac{\partial^2 w}{\partial x \partial y}$ تلاش کریں۔

$$w = xy + \frac{e^y}{y^2 + 1}$$

۲۰۴۳۵ حل: ہمیں $\frac{\partial^2 w}{\partial x \partial y}$ کہتا ہے کہ پہلے y کے لحاظ سے تفرق لیں اور بعد میں x کے لحاظ سے تفرق لیں۔ البتہ اگر ہم پہلے x اور بعد میں y کے لحاظ
۲۰۴۳۶ سے تفرق لیں تب نتیجہ زیادہ جلدی اور زیادہ آسانی سے صرف دو قدموں میں حاصل ہوتا ہے۔

$$\frac{\partial w}{\partial x} = y$$
$$\frac{\partial^2 w}{\partial y \partial x} = 1$$

۲۰۴۳۷ اب پہلے y اور بعد میں x کا تفرق لیتے ہوئے اسی کو دوبارہ حل کر کے دیکھیں۔ □

۲۰۴۳۸ مزید بلند رتبہ کے جزوی تفرقات

۲۰۴۳۹ عملی استعمال میں یک رتبی اور دو رتبی جزوی تفرقات زیادہ کثرت سے پائے جاتے ہیں لہٰذا ہمیں عموماً انہیں سے واسطہ ہو گا۔ جہاں تک تفاعل کے بلند تفرقات
۲۰۴۴۰ کی بات ہے، ہم ایک تفاعل کا تفرق جتنی بار چاہیں لیں سکتے ہیں بشرطیکہ ایسے تفرقات موجود ہوں۔ یوں ہم تین رتبی اور چار رتبی تفرقات لے سکتے ہیں جنہیں
۲۰۴۴۱ درج ذیل علامتوں کی طرز پر ظاہر کیا جائے گا۔

$$\frac{\partial^3 f}{\partial x \partial^2 y} = f_{yyx}$$
$$\frac{\partial^4 f}{\partial^2 x \partial^2 y} = f_{yyxx}$$

۲۰۴۴۲ دو رتبی تفرق کی طرح، تفرق کی ترتیب غیر اہم ہے جب تک تمام تفرقات استمراری ہوں۔

۲۰۴۴۳ سوالات

۲۰۴۴۴ یک رتبی جزوی تفرق کی تلاش

۲۰۴۴۵ سوال ۱۳.۱۳۱ تا سوال ۱۳.۱۵۲ میں $\frac{\partial f}{\partial x}$ اور $\frac{\partial f}{\partial y}$ تلاش کریں۔

۲۰۴۴۶ سوال ۱۳.۱۳۱: $f(x,y) = 2x^2 - 3y - 4$

۲۰۴۴۷ سوال ۱۳.۱۳۲: $f(x,y) = x^2 - xy + y^2$

۲۰۴۴۸ سوال ۱۳.۱۳۳: $f(x,y) = (x^2 - 1)(y + 2)$

۲۰۴۴۹ سوال ۱۳.۱۳۴: $f(x,y) = 5xy - 7x^2 - y^2 + 3x - 6y + 2$

۲۰۴۵۰ سوال ۱۳.۱۳۵: $f(x,y) = (xy - 1)^2$

۲۰۴۵۱ سوال ۱۳.۱۳۶: $f(x,y) = (2x - 3y)^3$

۲۰۴۵۲ سوال ۱۳.۱۳۷: $f(x,y) = \sqrt{x^2 + y^2}$

۲۰۴۵۳ سوال ۱۳.۱۳۸: $f(x,y) = (x^3 + y/2)^{2/3}$

۲۰۴۵۴ سوال ۱۳.۱۳۹: $f(x,y) = \frac{1}{x+y}$

۲۰۴۵۵ سوال ۱۳.۱۴۰: $f(x,y) = \frac{x}{x^2+y^2}$

۲۰۴۵۶ سوال ۱۳.۱۴۱: $f(x,y) = \frac{x+y}{xy-1}$

۲۰۴۵۷ سوال ۱۳.۱۴۲: $f(x,y) = \tan^{-1} \frac{y}{x}$

۲۰۴۵۸ سوال ۱۳.۱۴۳: $f(x,y) = e^{x+y+1}$

۲۰۴۵۹ سوال ۱۳.۱۴۴: $f(x,y) = e^{-x} \sin(x + y)$

۲۰۳۶۰ سوال ۱۳.۱۴۵: $f(x,y) = \ln(x+y)$

۲۰۳۶۱ سوال ۱۳.۱۴۶: $f(x,y) = e^{xy}\ln y$

۲۰۳۶۲ سوال ۱۳.۱۴۷: $f(x,y) = \sin^2(x-3y)$

۲۰۳۶۳ سوال ۱۳.۱۴۸: $f(x,y) = \cos^2(3x-y^2)$

۲۰۳۶۴ سوال ۱۳.۱۴۹: $f(x,y) = x^y$

۲۰۳۶۵ سوال ۱۳.۱۵۰: $f(x,y) = \log_y x$

۲۰۳۶۶ سوال ۱۳.۱۵۱: $f(x,y) = \int_x^y g(t)\,\mathrm{d}t$ تمام t کے لئے g استمراری ہے

۲۰۳۶۷ سوال ۱۳.۱۵۲: $f(x,y) = \sum_{n=0}^{\infty}(xy)^n \quad (|xy| < 1)$

۲۰۳۶۸

۲۰۳۶۹ سوال ۱۳.۱۵۳ تا سوال ۱۳.۱۶۴ میں f_x ، f_y اور f_z تلاش کریں۔

۲۰۳۷۰ سوال ۱۳.۱۵۳: $f(x,y,z) = 1 + xy^2 - 2z^2$

۲۰۳۷۱ سوال ۱۳.۱۵۴: $f(x,y,z) = xy + yz + xz$

۲۰۳۷۲ سوال ۱۳.۱۵۵: $f(x,y,z) = x - \sqrt{y^2+z^2}$

۲۰۳۷۳ سوال ۱۳.۱۵۶: $f(x,y,z) = (x^2+y^2+z^2)^{-1/2}$

۲۰۳۷۴ سوال ۱۳.۱۵۷: $f(x,y,z) = \sin^{-1}(xyz)$

۲۰۳۷۵ سوال ۱۳.۱۵۸: $f(x,y,z) = \sec^{-1}(x+yz)$

۲۰۳۷۶ سوال ۱۳.۱۵۹: $f(x,y,z) = \ln(x+2y+3z)$

۲۰۳۷۷ سوال ۱۳.۱۶۰: $f(x,y,z) = yz\ln(xy)$

۲۰۳۷۸ سوال ۱۳.۱۶۱: $f(x,y,z) = e^{-(x^2+y^2+z^2)}$

۲۰۳۷۹ سوال ۱۳.۱۶۲: $f(x,y,z) = e^{-xyz}$

۲۰۳۸۰ سوال ۱۳.۱۶۳: $f(x,y,z) = \tanh(x+2y+3z)$

۲۰۳۸۱ سوال ۱۳.۱۶۴: $f(x,y,z) = \sinh(xy-z^2)$

۲۰۳۸۲

۲۰۳۸۳ سوال ۱۳.۱۶۵ تا سوال ۱۳.۱۷۰ میں ہر متغیر کے لحاظ سے تفاعل کا جزوی تفرق تلاش کریں۔

۲۰۳۸۴ سوال ۱۳.۱۶۵: $f(t,\alpha) = \cos(2\pi t - \alpha)$

۲۰۳۸۵ سوال ۱۳.۱۶۶: $g(u,v) = v^2 e^{2u/v}$

۲۰۳۸۶ سوال ۱۳.۱۶۷: $h(\rho,\theta,\phi) = \rho\sin\theta\cos\phi$

سوال ۱۳.۱۶۸: $g(r,\theta,z) = r(1-\cos\theta) - z$

سوال ۱۳.۱۶۹: قلب کا کام

$$W(P,H,\delta,v,g) = PH + \frac{H\delta v^2}{2g}$$

سوال ۱۳.۱۷۰: $A(c,h,k,m,q) = \frac{km}{q} + cm + \frac{hq}{2}$

دورتبی جزوی تفرق کا حصول

سوال ۱۳.۱۷۱ تا سوال ۱۳.۱۷۶ میں تفاعل کے تمام دورتبی جزوی تفرقات تلاش کریں۔

سوال ۱۳.۱۷۱: $f(x,y) = x + y + xy$

سوال ۱۳.۱۷۲: $f(x,y) = \sin xy$

سوال ۱۳.۱۷۳: $g(x,y) = x^2y + \cos y + y\sin x$

سوال ۱۳.۱۷۴: $h(x,y) = xe^y + y + 1$

سوال ۱۳.۱۷۵: $r(x,y) = \ln(x,y)$

سوال ۱۳.۱۷۶: $s(x,y) = \tan^{-1}\frac{y}{x}$

مدغم جزوی تفرقات

سوال ۱۳.۱۷۷ تا سوال ۱۳.۱۸۰ میں $w_{xy} = w_{yx}$ کی تصدیق کریں۔

سوال ۱۳.۱۷۷: $w = \ln(2x+3y)$

سوال ۱۳.۱۷۸: $w = e^x + x\ln y + y\ln x$

سوال ۱۳.۱۷۹: $w = xy^2 + x^2y^3 + x^3y^4$

سوال ۱۳.۱۸۰: $w = x\sin y + y\sin x + xy$

سوال ۱۳.۱۸۱: بغیر قلم اٹھائے بتائیں کہ درج ذیل میں x کے لحاظ سے پہلے اور y کے لحاظ سے بعد میں یا اس کے الٹ حل کرتے ہوئے f_{xy} زیادہ جلدی حاصل ہو گا۔

ا. $f(x,y) = x\sin y + e^y$

ب. $f(x,y) = \frac{1}{x}$

ج. $f(x,y) = y + \frac{x}{y}$

د. $f(x,y) = y + x^2y + 4y^3 - \ln(y^2+1)$

ھ. $f(x,y) = x^2 + 5xy + \sin x + 7e^x$

و. $f(x,y) = x\ln xy$

سوال ۱۳.۱۸۲: درج ذیل میں تمام کا پانچ رتبی جزوی تفرق $\frac{\partial^5 f}{\partial x^2 \partial y^3}$ صفر کے برابر ہے۔اس کی تصدیق کرنے کی خاطر آپ کس متغیر کے لحاظ سے پہلے جزوی تفرق لیں گے؟بغیر کچھ لکھے جواب دینے کی کوشش کریں۔

ا. $f(x,y) = y^2 x^4 e^x + 2$

ب. $f(x,y) = y^2 + y(\sin x - x^4)$

ج. $f(x,y) = x^2 + 5xy + \sin x + 7e^x$

د. $f(x,y) = xe^{y^2/2}$

جزوی تفرق کی تعریف کا استعمال

سوال ۱۳.۱۸۳اور سوال ۱۳.۱۸۴ میں جزوی تفرق کی تعریف بذریعہ حد استعمال کرتے ہوئے دیے گئے نقطہ پر تفاعل کا جزوی تفرق حاصل کریں۔

سوال ۱۳.۱۸۳: $f(x,y) = 1 - x + y - 3x^2 y, \quad \frac{\partial f}{\partial x}, \frac{\partial f}{\partial y}, \quad (1,2)$

سوال ۱۳.۱۸۴: $f(x,y) = 4 + 2x - 3y - xy^2, \quad \frac{\partial f}{\partial x}, \frac{\partial f}{\partial y}, \quad (-2,1)$

سوال ۱۳.۱۸۵: فرض کریں $w = f(x,y,z)$ تین غیر تابع متغیرات کا تفاعل ہے۔نقطہ (x_0, y_0, z_0) پر جزوی تفرق $\frac{\partial f}{\partial z}$ کی باضابطہ تعریف لکھیں کریں۔اس تعریف کو استعمال کرتے ہوئے $(1,2,3)$ پر $f(x,y,z) = x^2 y z^2$ کا $\frac{\partial f}{\partial z}$ تلاش کریں۔

سوال ۱۳.۱۸۶: فرض کریں $w = f(x,y,z)$ تین غیر تابع متغیرات کا تفاعل ہے۔نقطہ (x_0, y_0, z_0) پر جزوی تفرق $\frac{\partial f}{\partial y}$ کی باضابطہ تعریف لکھیں کریں۔اس تعریف کو استعمال کرتے ہوئے $(-1,0,3)$ پر $f(x,y,z) = -2xy^2 + yz^2$ کا $\frac{\partial f}{\partial z}$ تلاش کریں۔

خفی جزوی تفرقات

سوال ۱۳.۱۸۷: ذیل مساوات میں غیر تابع متغیرات x اور y کا تفاعل z پیش کیا گیا ہے۔نقطہ $(1,1,1)$ پر $\frac{\partial z}{\partial x}$ کی قیمت تلاش کریں۔اس نقطہ پر یہ جزوی تفرق موجود ہے۔

$$xy + z^3 x - 2yz = 0$$

سوال ۱۳.۱۸۸: ذیل مساوات میں غیر تابع متغیرات x اور y کا تفاعل z پیش کیا گیا ہے۔نقطہ $(1,-1,-3)$ پر $\frac{\partial z}{\partial x}$ کی قیمت تلاش کریں۔اس نقطہ پر یہ جزوی تفرق موجود ہے۔

$$xz + y \ln x - x^2 + 4 = 0$$

سوال ۱۳.۱۸۹اور سوال ۱۳.۱۸۹ درج ذیل مثلث کے بارے میں ہے۔

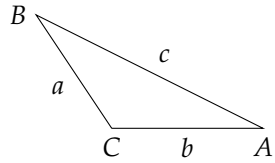

سوال ۱۳.۱۸۹: A کو خفی طور پر a ، b اور c کا تفاعل لکھ کر $\frac{\partial A}{\partial a}$ اور $\frac{\partial A}{\partial b}$ تلاش کریں۔

سوال ۱۳.۱۹۰: a کو خفی طور پر A ، b اور B کا تفاعل لکھ کر $\frac{\partial a}{\partial A}$ اور $\frac{\partial a}{\partial B}$ تلاش کریں۔

سوال ۱۳.۱۹۱: غیر تابع متغیرات x اور y کی صورت میں تفاعل u اور v مساوات $x = v \ln u$ اور $y = u \ln v$ دیتی ہیں۔ جزوی تفرق v_x ، جو موجود ہے، کو u اور v کی صورت میں لکھیں۔ (اشارہ: دونوں مساوات کا تفرق x کے لحاظ سے لے کر v_x کے لئے حل کریں۔)

سوال ۱۳.۱۹۲: غیر تابع متغیرات u اور v کی صورت میں تفاعل x اور y مساوات $u = x^2 - y^2$ اور $v = x^2 - y$ دیتی ہیں۔ جزوی تفرق $\frac{\partial x}{\partial u}$ اور $\frac{\partial y}{\partial u}$ ، جو موجود ہیں تلاش کریں۔ (اشارہ: سوال ۱۳.۱۹۱ میں دیا گیا اشارہ دیکھیں۔) اب $s = x^2 + y$ لیتے ہوئے $\frac{\partial s}{\partial u}$ حاصل کریں۔

مساوات لاپلاس

تین بعدی مساوات لاپلاس

$$\frac{\partial^2 f}{\partial x^2} + \frac{\partial^2 f}{\partial y^2} + \frac{\partial^2 f}{\partial z^2} = 0 \tag{۵}$$

کو فضا میں برقرار حال حراری تقسیم $T = f(x, y, z)$ ، تجاذبی مخفی قوہ اور برقی ساکن مخفی قوہ مطمئن کرتے ہیں۔ مساوات ۵ سے جزو $\frac{\partial f}{\partial z}$ نکالنے سے دو بعدی مساوات لاپلاس

$$\frac{\partial^2 f}{\partial x^2} + \frac{\partial^2 f}{\partial y^2} = 0 \tag{۶}$$

حاصل ہوتی ہے جو مستوی میں خفی قوہ اور برقرار حال حراری تقسیم بیان کرتی ہے (شکل ۱۳.۲۸)۔

دکھائیں کہ سوال ۱۳.۱۹۳ تا سوال ۱۳.۱۹۸ میں دیا ہر ایک تفاعل مساوات لاپلاس میں سے کسی ایک کو مطمئن کرتا ہے۔

سوال ۱۳.۱۹۳: $f(x, y, z) = x^2 + y^2 - 2z^2$

سوال ۱۳.۱۹۴: $f(x, y, z) = 2z^3 - 3(x^2 + y^2)z$

سوال ۱۳.۱۹۵: $f(x, y) = e^{-2y} \cos 2x$

سوال ۱۳.۱۹۶: $f(x, y) = \ln \sqrt{x^2 + y^2}$

سوال ۱۳.۱۹۷: $f(x, y, z) = (x^2 + y^2 + z^2)^{-1/2}$

سوال ۱۳.۱۹۸: $f(x, y, z) = e^{2x+4y} \cos 5z$

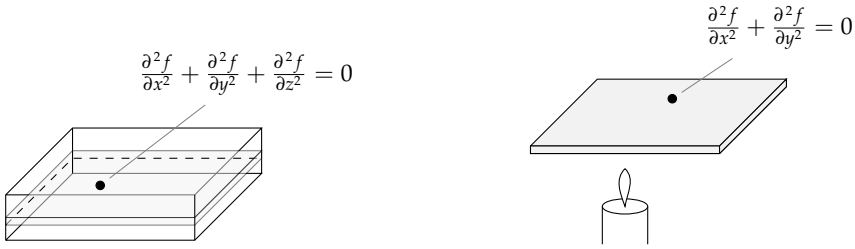

(ا) (ب) مستوی کی سرحدی (کناروں کی) حرارت قابو کی گئی ہے۔

شکل ۱۳.۲۸: مستوی اور ٹھوس اجسام میں برقرار حال حرارت، مساوات لاپلاس کو مطمئن کرتی ہے۔

مساواتِ موج

سمندر کے کنارے کھڑے ہو کر سمندری امواج کی لی گئی تصویر میں نشیب و فراز کا ایک منظم نقش نظر آتا ہے۔ ہمیں فضا میں فاصلہ کے لحاظ سے دوری انتصابی حرکت نظر آتی ہے۔ پانی میں کھڑے ہو کر ہم گزرتی امواج کی وجہ سے پانی کا اتار چھڑاو محسوس کرتے ہیں۔ ہم وقت کے لحاظ سے دوری انتصابی حرکت دیکھتے ہیں۔ طبیعیات میں اس خوبصورت تشاکلی کو یک بعدی مساوات موج

$$\frac{\partial^2 u}{\partial t^2} = c^2 \frac{\partial^2 w}{\partial x^2} \tag{۷}$$

بیان کرتی ہے جہاں قد موج w، فاصلاتی متغیر x، لمحاتی متغیر t اور موج کی رفتار c ہے۔

سمندری سطح پر فاصلہ x ہو گا لیکن دیگر عملی استعمال میں x ارتعاش پذیر تار کے ساتھ ساتھ فاصلہ، ہوا میں فاصلہ (صوتی امواج)، یا فضا میں فاصلہ (امواج نور) ہو سکتا ہے۔ عدد c کی قیمت موج کی قسم اور ذریعہ پر منحصر ہو گا۔

دکھائیں کہ سوال ۱۳.۱۹۹ تا سوال ۱۳.۲۰۵ میں تمام تفاعل مساوات موج کو مطمئن کرتے ہیں۔

سوال ۱۳.۱۹۹: $w = \sin(x + ct)$

سوال ۱۳.۲۰۰: $w = \cos(2x + 2ct)$

سوال ۱۳.۲۰۱: $w = \sin(x + ct) + \cos(2x + 2ct)$

سوال ۱۳.۲۰۲: $w = \ln(2x + 2ct)$

سوال ۱۳.۲۰۳: $w = \tan(2x - 2ct)$

سوال ۱۳.۲۰۴: $w = 5\cos(3x + 3ct) + e^{x+ct}$

سوال ۱۳.۲۰۵: $w = f(u)$؛ جہاں f متغیر u کا قابل تفرق تفاعل، $u = a(x + ct)$ اور a مستقل ہیں۔

۱۳.۴ تفرق پذیری، خط بندی، اور تفرقات

اس حصہ میں ہم تفرق پذیری کی تعریف کے بعد خط بندی اور تفریقیں پیش کرتے ہیں۔ اس حصہ کے ریاضی نتائج مسئلہ بڑھوتری کی وجہ سے ہیں۔ جیسا ہم اگلے حصہ میں دیکھیں گے، کثیر المتغیر تفاعل کے زنجیری قاعدہ کی بنیاد بھی یہی مسئلہ ہے۔

تفرق پذیری

نقطہ بڑھوتری کا تصور، تفرق پذیری کی ابتدا ہے۔ آپ کو یاد ہو گا کہ اگر $x = x_0$ پر ایک متغیر کا تفاعل $y = f(x)$ قابل تفرق ہو تب x کی قیمت x_0 سے $x_0 + \Delta x$ کرنے سے f کی قیمت میں تبدیلی

$$\Delta y = f'(x_0)\Delta x + \epsilon \Delta x \tag{۱}$$

لکھی جا سکتی ہے جہاں $\Delta x \to 0$ اور $\epsilon \to 0$ ہیں۔ دو متغیرات کے تفاعل کے لئے یہی خاصیت تفرق پذیری کی تعریف بنتی ہے۔ اعلیٰ احصاء کا مسئلہ بڑھوتری ہمیں یقین دلاتا ہے کہ یہ خاصیت کارآمد رہے گی:

مسئلہ ۱۳.۳: دو متغیرات کے تفاعل کا مسئلہ بڑھوتری
فرض کریں پورا کھلا خطہ R میں، جس میں نقطہ (x_0, y_0) پایا جاتا ہو، $f(x, y)$ کے جزوی اول تفرقات معین ہیں اور (x_0, y_0) پر f_x اور f_y استمراری ہیں۔ تب نقطہ (x_0, y_0) کو R میں دوسری جگہ $(x_0 + \Delta x, y_0 + \Delta y)$ منتقل کرنے سے f میں رونما ہونے والی تبدیلی

$$\Delta z = f(x_0 + \Delta x, y_0 + \Delta y) - f(x_0, y_0)$$

درج ذیل روپ کی مساوات کو مطمئن کرے گی جہاں $\Delta x,\ \Delta y \to 0$ کرنے سے $\epsilon_1,\ \epsilon_2 \to 0$ ہوں گے۔

$$\Delta z = f_x(x_0, y_0)\Delta x + f_y(x_0, y_0)\Delta y + \epsilon_1 \Delta x + \epsilon_2 \Delta y \tag{۲}$$

آپ ضمیمہ ط میں اس کا ثبوت دیکھ کر جان سکیں گے کہ ϵ_1 ، ϵ_2 کہاں سے آتے ہیں۔ آپ یہ بھی دیکھ پائیں گے کہ اسی طرح کے نتائج دو سے زیادہ غیر تابع متغیرات کے تفاعل کے لئے کارآمد ہوں گے۔

تعریف: اگر $f_x(x_0, y_0)$ اور $f_y(x_0, y_0)$ موجود ہوں اور (x_0, y_0) پر f مساوات ۲ کو مطمئن کرتا ہو تب (x_0, y_0) پر $f(x, y)$ **قابل تفرق** ہو گا۔ اگر f اپنے دائرہ کار کے اندر ہر نقطہ پر قابل تفرق ہو تب f **قابل تفرق**[۳۴] ہو گا۔

□

اس تعریف کی روشنی میں ہمیں مسئلہ ۱۳.۳ کا ضمنی نتیجہ ملتا ہے جس کے تحت جس تفاعل کے جزوی اول تفرقات استمراری ہوں وہ تفاعل قابل تفرق ہو گا۔

ضمنی نتیجہ ۱.۱۳: **برائے مسئلہ ۳-۱۳** اگر پورے کھلا وقفہ R میں تفاعل $f(x, y)$ کے جزوی تفرقات f_x اور f_x استمراری ہوں تب R کے ہر نقطہ پر f تفرق پذیر ہو گا۔

---

[۳۴] differentiable

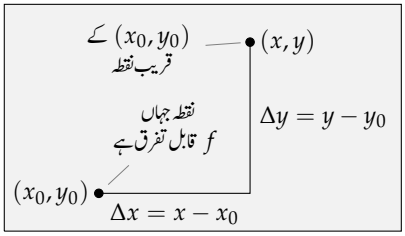

شکل ۱۳.۲۹: اگر (x_0, y_0) پر f قابل تفرق ہو تب قریبی نقطہ (x, y) پر f کی قیمت تقریباً $f(x_0, y_0) + f_x(x_0, y_0)\Delta x + f_y(x_0, y_0)\Delta y$ ہو گی۔

ہم مساوات ۲ میں z کی جگہ $f(x, y) - f(x_0, y_0)$ پر کر کے اس کو

$$f(x, y) = f(x_0, y_0) + f_x(x_0, y_0)\Delta x + f_y(x_0, y_0)\Delta y + \epsilon_1 \Delta x + \epsilon_2 \Delta y \tag{۳}$$

لکھتے ہوئے دیکھتے ہیں کہ اگر Δx اور Δy صفر کے قریب پہنچنے کی کوشش کرے تب نئی مساوات کا دایاں ہاتھ $f(x_0, y_0)$ کے قریب پہنچتا ہے۔ اس سے ہمیں معلوم ہوتا ہے کہ تفاعل $f(x, y)$ ان تمام نقطوں پر استمراری ہو ہو گا جہاں یہ تفرق پذیر ہو۔

مسئلہ ۱۳.۴: اگر نقطہ (x_0, y_0) پر تفاعل $f(x, y)$ تفرق پذیر ہو تب (x_0, y_0) پر f استمراری ہو گا۔

ہم مسئلہ ۱۳.۳ اور مسئلہ ۱۳.۴ سے دیکھتے ہیں کہ اگر اس پورے خطہ میں، جس میں نقطہ (x_0, y_0) پایا جاتا ہو، f_x اور f_y استمراری ہوں تب (x_0, y_0) پر $f(x, y)$ لازماً استمراری ہو گا۔ یاد رہے کہ دو متغیرات کا تفاعل اس نقطہ پر غیر استمراری ہو سکتا ہے جہاں اس کا جزوی اول تفرق موجود ہو (مثال ۱۳.۲۱)۔ صرف موجودگی کافی نہیں ہے۔

دو متغیرات کے تفاعل کی خط بندی

دو متغیرات کے تفاعل پیچیدہ ہو سکتے ہیں اور بعض اوقات ہم چاہیں گے کہ ان کی جگہ ایسے نسبتاً سادہ تفاعل استعمال کریں جن کے ساتھ کام کرنا آسان ہو اور جو مخصوص عملی استعمال میں درکار درستگی دیتے ہوں۔ ہم واحد متغیر کے تفاعل کی خط بندی کی طرز پر ایسا کرتے ہیں (حصہ ۷.۴)۔

فرض کریں تفاعل $z = f(x, y)$ نقطہ (x_0, y_0) پر قابل تفرق ہے اور ہم اس نقطہ پر f ، f_x اور f_y کی قیمتیں جانتے ہیں۔ ہم اس تفاعل کا ایسا متبادل چاہتے ہیں جو (x_0, y_0) کے قریب موثر ہو۔ چونکہ f قابل تفرق ہے لہٰذا نقطہ (x_0, y_0) پر مساوات ۳ تفاعل f کے لئے کارآمد ہو گا۔ یوں $\Delta x = x - x_0$ اور $\Delta y = y - y_0$ کی بڑھوتری سے (x_0, y_0) سے نقطہ (x, y) منتقل (شکل ۱۳.۲۹) ہونے سے f کی نئی قیمت

$$f(x, y) = f(x_0, y_0) + f_x(x_0, y_0)(x - x_0) + f_y(x_0, y_0)(y - y_0) + \epsilon_1 \Delta x + \epsilon_2 \Delta y$$

ملتی ہے جہاں $\Delta x, \Delta y \to 0$ کرنے سے $\epsilon_1, \epsilon_2 \to 0$ ہو گا۔ اگر Δx اور Δy چھوٹے ہوں تب $\epsilon_1 \Delta x$ اور $\epsilon_2 \Delta y$ آخر کار مزید

۲۰۶۱۲ چھوٹے ہوں گے لہٰذا ہم درج ذیل لکھ سکتے ہیں۔

$$f(x,y) \approx \underbrace{f(x_0,y_0) + f_x(x_0,y_0)(x-x_0) + f_y(x_0,y_0)(y-y_0)}_{L(x,y)}$$

۲۰۶۱۳ دوسرے لفظوں میں، جب تک Δx اور Δy چھوٹے ہوں، f کی قیمت تقریباً وہی ہو گی جو خطی تفاعل L کی ہو گی۔ اگر f کے ساتھ کام کرنا دشوار ہو
۲۰۶۱۴ اور L ہمیں درکار درستگی دیتا ہو تب ہم f کی جگہ L استعمال کر سکتے ہیں۔

۲۰۶۱۵ تعریف: نقطہ (x_0,y_0) پر، جہاں تفاعل $f(x,y)$ قابل تفرق ہو، f کا **خط بند**[۳۵] تفاعل درج ذیل ہو گا۔

$$L(x,y) = f(x_0,y_0) + f_x(x_0,y_0)(x-x_0) + f_y(x_0,y_0)(y-y_0) \tag{۴}$$

۲۰۶۱۶ درج ذیل تخمین

$$f(x,y) \approx L(x,y)$$

۲۰۶۱۷ نقطہ (x_0,y_0) پر تفاعل f کی **معیاری خطی تخمین**[۳۶] ہے۔

۲۰۶۱۸ □

۲۰۶۱۹ ہم حصہ ۱۳.۸ میں دیکھیں گے کہ مستوی $z = L(x,y)$ سطح $z = f(x,y)$ کو نقطہ (x_0,y_0) پر مماسی ہے۔ یوں جیسا واحد متغیر کی خط
۲۰۶۲۰ بندی مماسی خط تخمین دیتی ہے، اسی طرح دو متغیرات کے تفاعل کی خط بندی ہمیں مماسی مستوی تخمین دیتی ہے۔

۲۰۶۲۱ مثال ۱۳.۲۴: نقطہ $(3,2)$ پر درج ذیل کی خط بند تخمین تلاش کریں۔

$$f(x,y) = x^2 - xy + \frac{1}{2}y^2 + 3$$

۲۰۶۲۲ حل: ہم مساوات ۴ میں درج ذیل پر کرتے ہیں۔

$$\begin{aligned}
f(x_0,y_0) &= \left(x^2 - xy + \frac{1}{2}y^2 + 3\right)_{(3,2)} = 8\\
f_x(x_0,y_0) &= \frac{\partial}{\partial x}\left(x^2 - xy + \frac{1}{2}y^2 + 3\right)_{(3,2)} = (2x-y)_{(3,2)} = 4\\
f_y(x_0,y_0) &= \frac{\partial}{\partial y}\left(x^2 - xy + \frac{1}{2}y^2 + 3\right)_{(3,2)} = (-x+y)_{(3,2)} = -1
\end{aligned}$$

۲۰۶۲۳ یوں درج ذیل حاصل ہو گا۔

$$\begin{aligned}
L(x,y) &= f(x_0,y_0) + f_x(x_0,y_0)(x-x_0) + f_y(x_0,y_0)(y-y_0) \qquad \text{مساوات ۴}\\
&= 8 + (4)(x-3) + (-1)(y-2) = 4x - y - 2
\end{aligned}$$

۲۰۶۲۴ نقطہ $(3,2)$ پر f کی خط بندی $L(x,y) = 4x - y - 2$ ہے۔ □

---

[۳۵] linearization
[۳۶] standardlinearapproximation

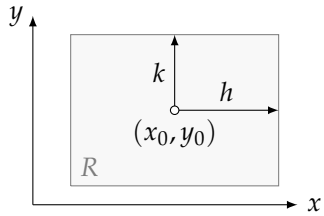

شکل ۱۳.۳۰: مستوی xy میں مستطیل خطہ R: $|x - x_0| \leq h, |y - y_0| \leq k$ جہاں میں ہم اپنی تخمین کے خلل کی کارآمد حد بندی تلاش کر سکتے ہیں

معیاری خطی تخمین کی درستگی

تخمین $f(x, y) \approx L(x, y)$ میں خلل کی تلاش میں ہم f کے دور تبی جزوی تفرقات استعمال کرتے ہیں۔ فرض کریں ایک کھلا سلسلہ میں f کے یک رتبی اور دور تبی جزوی تفرقات استمراری ہوں اور اس سلسلہ میں ایک مستطیل خطہ R جس کا مرکز (x_0, y_0) ہو پایا جاتا ہو۔ اس مستطیل خطہ کو درج ذیل عدم مساوات ظاہر کرتے ہیں (شکل ۱۳.۳۰)۔

$$|x - x_0| \leq h, \quad |y - y_0| \leq k$$

چونکہ R بند اور محدود ہے لہٰذا R میں تمام دور تبی جزوی تفرقات کی مطلق زیادہ سے زیادہ قیمتیں ہوں گی۔ اگر ان میں B سب سے بڑی قیمت ہو تب، جیسا آگے حصہ ۱۳.۱۰ میں سمجھایا گیا ہے، پورے R میں معیاری خطی تخمین میں خلل $E(x, y) = f(x, y) - L(x, y)$ درج ذیل عدم مساوات کو مطمئن کرے گا۔

$$|E(x, y)| \leq \frac{1}{2} B(|x - x_0| + |y - y_0|)^2$$

جب ہم اس عدم مساوات کو E کی اندازاً قیمت حاصل کرنے کے لئے استعمال کریں تب ہم f_{xx} ، f_{yy} اور f_{xy} ، جو B تعین کرتے ہیں، حاصل کرنے سے قاصر ہوں گے لہٰذا ہمیں بالائی حد بندی یعنی بدترین قیمت پر گزارہ کرنا ہو گا۔ اگر R میں $|f_{xx}|$ ، $|f_{yy}|$ اور $|f_{xy}|$ کی مشترک بالائی حد بندی M ہو، تب B کی قیمت M کے برابر یا اس سے کم ہو گی لہٰذا درج ذیل ہو گا۔

$$|E(x, y)| \leq \frac{1}{2} M(|x - x_0| + |y - y_0|)^2$$

اس عدم مساوات سے عموماً E کی تخمینی قیمت حاصل کی جاتی ہے۔ کسی M کے لئے $|E(x, y)|$ کی قیمت کم کرنے کے لئے ہم $|x - x_0|$ اور $|y - y_0|$ کو چھوٹا بناتے ہیں۔

معیاری خطی تخمین میں خلل

اگر ایک کھلا سلسلہ میں f کے یک رتبی اور دور تبی جزوی تفرقات استمراری ہوں اور اس سلسلہ میں ایک مستطیل خطہ R جس کا مرکز (x_0, y_0) ہو پایا

۲۰۶۳۹ جاتا ہو اور R پر $|f_{xx}|$ ، $|f_{yy}|$ اور $|f_{xy}|$ کی بالائی حد بندی M ہو تب R پر $f(x,y)$ کا متبادل

$$L(x,y) = f(x_0,y_0) + f_x(x_0y_0)(x-x_0) + f_y(x_0,y_0)(y-y_0)$$

۲۰۶۴۰ استعمال کرنے سے پیدا خلل $E(x,y)$ درج ذیل مساوات کو مطمئن کرے گا۔

$$|E(x,y)| \leq \frac{1}{2}M(|x-x_0| + |y-y_0|)^2 \tag{۵}$$

۲۰۶۴۱ مثال ۱۳.۲۵: ہم نے مثال ۱۳.۲۴ میں $(3,2)$ پر درج ذیل کی خط بندی کی۔

$$f(x,y) = x^2 - xy + \frac{1}{2}y^2 + 3$$

۲۰۶۴۲ مستطیل

$$R: \quad |x-3| \leq 0.1, \quad |y-2| \leq 0.1$$

۲۰۶۴۳ پر تخمین $f(x,y) \approx L(x,y)$ کے خلل کی بالائی حد بندی تلاش کریں۔ اس حد بندی کو مستطیل کے مرکز پر f کی قیمت $f(3,2)$ کا فی صد
۲۰۶۴۴ لکھیں۔

۲۰۶۴۵ حل: ہم درج ذیل عدم مساوات استعمال کرتے ہیں۔

$$|E(x,y)| \leq \frac{1}{2}M(|x-x_0| + |y-y_0|)^2 \qquad \text{مساوات ۵}$$

۲۰۶۴۶ ہم معمول کے تفرق سے دیکھتے ہیں کہ f_{xx} ، f_{yy} اور f_{xy} تینوں مستقل ہیں:

$$|f_{xx}| = |2| = 2, \quad |f_{xy}| = |-1| = 1, \quad |f_{yy}| = |1| = 1$$

۲۰۶۴۷ ان تمام میں سب سے بڑی قیمت 2 ہے لہٰذا ہم M کو 2 کے برابر رکھ سکتے ہیں۔ اب $(x_0,y_0) = (3,2)$ کے لئے R میں درج ذیل ہو گا۔

$$|E(x,y)| \leq \frac{1}{2}(2)(|x-3| + |y-2|)^2$$

۲۰۶۴۸ آخر میں چونکہ $|x-3| \leq 0.1$ اور $|y-2| \leq 0.1$ ہیں لہٰذا R پر

$$|E(x,y)| \leq (0.1+0.1)^2 = 0.04$$

۲۰۶۴۹ ہو گا۔ جب تب (x,y) مستطیل R میں رہے تخمین $f(x,y) \approx L(x,y)$ میں خلل 0.04 سے زیادہ نہیں ہو گی جو R کے مرکز پر f
۲۰۶۵۰ کی قیمت کا 0.5 % ہے۔ □

۲۰۶۵۱ تفریق سے تبدیلی کی پیش گوئی

۲۰۶۵۲ فرض کریں ہم نقطہ (x_0, y_0) پر قابل تفرق تفاعل $f(x, y)$ اور اس کے یک رتبی تفرقات کی قیمتیں جانتے ہیں اور ہم قریبی نقطہ
۲۰۶۵۳ $(x_0 + \Delta x, y_0 + \Delta y)$ پر منتقل ہونے سے f کی قیمت میں تبدیلی جاننا چاہتے ہیں۔ اگر Δx اور Δy چھوٹے ہوں تب (x_0, y_0) پر
۲۰۶۵۴ f اور اس کی خط بندی کی قیمت میں تبدیلی تقریباً ایک دوسرے جیسی ہو گی لہٰذا L کی تبدیلی سے ہمیں عملاً f کی تبدیلی حاصل ہو گی۔

۲۰۶۵۵ تفاعل f میں تبدیلی درج ذیل ہو گی۔

$$\Delta f = f(x_0 + \Delta x, y_0 + \Delta y) - f(x_0, y_0)$$

۲۰۶۵۶ ہم مساوات ۴ میں $x - x_0 = \Delta x$ اور $y - y_0 = \Delta y$ لیتے ہوئے L میں تبدیلی

$$\begin{aligned}\Delta L &= L(x_0 + \Delta x, y_0 + \delta y) - L(x_0, y_0)\\ &= f_x(x_0, y_0)\Delta x + f_y(x_0, y_0)\Delta y\end{aligned}$$

۲۰۶۵۷ حاصل کرتے ہیں۔ عموماً ΔL کے کلیہ کے ساتھ کام کرنا اتنا ہی مشکل ہو گا جتنا Δf کے کلیہ کے ساتھ کام کرنا مشکل ہو گا۔ البتہ L میں تبدیلی f کے
۲۰۶۵۸ کلیہ سے حاصل کرنا زیادہ مشکل ثابت ہوتا ہے۔ خطی تخمین L میں تبدیلی، ایک معلوم مستقل ضرب Δx جمع دوسرا معلوم مستقل ضرب Δy ہوتا ہے۔

۲۰۶۵۹ ہم تبدیلی ΔL کو عموماً درج ذیل خیال آفریں علامتی روپ سے ظاہر کرتے ہیں جہاں x اور y میں تبدیلی Δx اور Δy کی وجہ سے خط بندی میں
۲۰۶۶۰ تبدیلی کو $\mathrm{d}f$ ظاہر کرتی ہے۔

$$\mathrm{d}f = f_x(x_0, y_0)\,\mathrm{d}x + f_y(x_0, y_0)\,\mathrm{d}y$$

۲۰۶۶۱ حسب معمول ہم $\mathrm{d}x$ اور $\mathrm{d}y$ کو x اور y کی تفریق کہتے ہیں اور $\mathrm{d}f$ کو f کی مطابقتی تفریق کہتے ہیں۔

۲۰۶۶۲ تعریف: نقطہ (x_0, y_0) سے قریبی نقطہ $(x_0 + \Delta x, y_0 + \Delta y)$ منتقلی کی وجہ سے f کی **تفریق**[۳۷] درج ذیل ہو گی۔

$$\mathrm{d}f = f_x(x_0, y_0)\,\mathrm{d}x + f_y(x_0, y_0)\,\mathrm{d}y \tag{۶}$$

۲۰۶۶۳ تفاعل f کی خط بندی میں اس تبدیلی کو f **کی کل تفریق**[۳۸] کہتے ہیں۔

۲۰۶۶۴ □

۲۰۶۶۵ مثال ۱۳.۲۶: تبدیلی کے لئے حساسیت
۲۰۶۶۶ آپ کا ادارہ دائری نلکی حوض بناتا ہے جس کا قد 25 m اور رداس 5 m ہے۔ قد اور رداس میں چھوٹی تبدیلی کو حوض کے حجم کی حساسیت تلاش کریں۔

۲۰۶۶۷ حل: حوض کا حجم درج ذیل ہو گا۔

$$H(r, h) = \pi r^2 h$$

---

[۳۷] differential
[۳۸] totaldifferential



شکل ۱۳.۳۱: بیلن-ا کا حجم r میں چھوٹی تبدیلی کو زیادہ حساس ہے جبکہ بیلن-ب کا حجم h میں چھوٹی تبدیلی کو زیادہ حساس ہے۔

۲۰۶۶۸ قد اور رداس میں چھوٹی تبدیلیوں $\mathrm{d}h$ اور $\mathrm{d}r$ کی وجہ سے حوض کے حجم میں تبدیلی درج ذیل ہو گی۔

$$\begin{aligned}\mathrm{d}H &= H_r(5,25)\,\mathrm{d}r + H_h(5,25)\,\mathrm{d}h \qquad \text{مساوات ۶}\\ &= (2\pi rh)_{(5,25)}\,\mathrm{d}r + (\pi r^2)_{(5,25)}\,\mathrm{d}h\\ &= 250\pi\,\mathrm{d}r + 25\pi\,\mathrm{d}h\end{aligned}$$

۲۰۶۶۹ یوں r میں 1 اکائی تبدیلی H میں 250π اکائیاں تبدیلی پیدا کرتی ہے جبکہ h میں 1 اکائی تبدیلی H میں 25π اکائیاں تبدیلی پیدا کرتی ہے۔

۲۰۶۷۰ حوض کا حجم r میں چھوٹی تبدیلی کو، h میں چھوٹی تبدیلی کے لحاظ سے 10 گنا زیادہ حساس ہے۔ یوں آپ کو رداس پر کھڑی نظر رکھنی ہو گی۔

۲۰۶۷۱ اس کے برعکس اگر r اور h کی قیمتیں آپس میں بدل دی جائیں تاکہ $r = 25\,\mathrm{m}$ اور $h = 5\,\mathrm{m}$ ہوں تب کل تفریقی حجم

$$\mathrm{d}H = (2\pi rh)_{(25,5)}\,\mathrm{d}h + (\pi r^2)_{(25,5)}\,\mathrm{d}r = 250\pi\,\mathrm{d}r + 625\pi\,\mathrm{d}h$$

۲۰۶۷۲ ہو گا۔ اب حوض کا حجم قد میں تبدیلی کو زیادہ حساس ہے (شکل ۱۳.۳۱)۔

۲۰۶۷۳ اس مثال سے ہم یہ قاعدہ سیکھتے ہیں کہ تفاعل ان متغیرات کو زیادہ حساس ہوتے ہیں جو سب سے بڑا جزوی تفرق دیتا ہو۔ □

۲۰۶۷۴ مطلق، نسبتی اور فی صد تبدیلی

۲۰۶۷۵ ایک نقطہ (x_0, y_0) سے قریبی نقطہ منتقلی کی وجہ سے تفاعل $f(x,y)$ کی قیمت میں تبدیلی کو تین مختلف طریقوں سے بیان کیا جا سکتا ہے:

۲۰۶۷۶

	درست	اندازاً
مطلق تبدیلی	Δf	$\mathrm{d}f$
نسبتی تبدیلی	$\frac{\Delta f}{f(x_0,y_0)}$	$\frac{\mathrm{d}f}{f(x_0,y_0)}$
فی صد تبدیلی	$\frac{\Delta f}{f(x_0,y_0)} \times 100$	$\frac{\mathrm{d}f}{f(x_0,y_0)} \times 100$

۲۰۶۷۷ مثال ۱۳.۲۷: فرض کریں متغیرات r اور h کی قیمتوں $(r_0, h_0) = (1,5)$ میں تبدیلی $\mathrm{d}r = 0.03$ اور $\mathrm{d}h = -0.1$ ہو۔

۲۰۶۷۸ تفاعل $H = \pi r^2 h$ کی قیمت میں مطلق، نسبتی اور فی صد تبدیلی کتنی ہو گی؟

۲۰۶۷۹ حل: تفاعل H میں تبدیلی جاننے کے لئے ہم

$$\mathrm{d}H = H_r(r_0, h_0)\,\mathrm{d}r + H_h(r_0, h_0)\,\mathrm{d}h$$

۲۰۶۸۰ کی قیمت تلاش کر کے

$$\begin{aligned}\mathrm{d}H &= 2\pi r_0 h_0\,\mathrm{d}r + \pi r_0^2 h\,\mathrm{d}h\\ &= 2\pi(1)(5)(0.03) + \pi(1)^2(-0.1) = 0.3\pi - 0.1\pi = 0.2\pi\end{aligned}$$

۲۰۶۸۱ حاصل کرتے ہیں جبکہ $H(1,5) = \pi(1)^2(5) = 5\pi$ ہے۔یوں مطلق تبدیلی 0.2π ، نسبتی تبدیلی $\frac{0.2\pi}{5\pi} = 0.04$ اور فی صف
۲۰۶۸۲ تبدیلی $4\,\%$ ہو گی۔ □

۲۰۶۸۳ مثال ۱۳.۲۸: ایک دائری بیلن کا حجم $H = \pi r^2 h$ اس کا رداس اور قد ناپ کر حاصل کیا جاتا ہے۔فرض کریں رداس اور قد کی ناپ میں خلل
۲۰۶۸۴ بالترتیب $2\,\%$ اور $0.5\,\%$ سے زیادہ نہیں ہو سکتا ہے۔ حجم کی قیمت حاصل کرنے میں خلل کتنا ہو سکتا ہے؟

۲۰۶۸۵ حل: ہمیں درج ذیل معلومات دی گئی ہیں۔

$$\left|\frac{\mathrm{d}r}{r} \times 100\right| \leq 2, \quad \left|\frac{\mathrm{d}h}{h} \times 100\right| \leq 0.5$$

۲۰۶۸۶ چونکہ

$$\frac{\mathrm{d}H}{H} = \frac{2\pi r h\,\mathrm{d}r + \pi r^2\,\mathrm{d}h}{\pi r^2 h} = \frac{2\,\mathrm{d}r}{r} + \frac{\mathrm{d}h}{h}$$

۲۰۶۸۷ ہے لہٰذا

$$\begin{aligned}\left|\frac{\mathrm{d}H}{H} \times 100\right| &= \left|2\frac{\mathrm{d}r}{r} \times 100 + \frac{\mathrm{d}h}{h} \times 100\right|\\ &\leq 2\left|\frac{\mathrm{d}r}{r} \times 100\right| + \left|\frac{\mathrm{d}h}{h} \times 100\right| \leq 2(2) + 0.5 = 4.5\end{aligned}$$

۲۰۶۸۸ ہو گا۔ ہمارا اندازہ ہے کہ حجم کے حساب میں خلل $4.5\,\%$ سے زیادہ نہیں ہو گا۔ □

۲۰۶۸۹ ہمیں r اور h کتنی درستگی سے ناپنا ہو گا تا کہ حجم کے حساب میں خلل مثلاً $2\,\%$ سے زیادہ نہ ہو؟ اس طرح کے سوالات کا جواب دینا مشکل ہے چونکہ اس کا
۲۰۶۹۰ کوئی ایک صحیح جواب نہیں پایا جاتا ہے۔ چونکہ

$$\frac{\mathrm{d}H}{H} = 2\frac{\mathrm{d}r}{r} + \frac{\mathrm{d}h}{h}$$

۲۰۶۹۱ ہے لہٰذا $\frac{\mathrm{d}H}{H}$ کو $\frac{\mathrm{d}r}{r}$ اور $\frac{\mathrm{d}h}{h}$ مل کر قابو کرتے ہیں۔ اگر ہم h درست ناپ سکیں تب عین ممکن ہے کہ r کی ناپ زیادہ درست نہ ہونے کی صورت
۲۰۶۹۲ میں بھی ہمیں درکار نتائج ملیں۔ اس کے برعکس h کی ناپ اتنی ناقص ہو سکتی ہے کہ ہم جتنا چاہیں r کی ناپ درست رکھیں، نتائج قابل قبول نہ ہوں۔

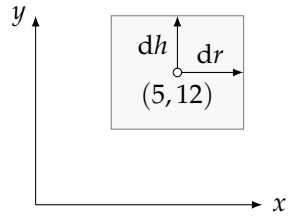

شکل ۱۳.۳۲: نقطہ $(5, 12)$ کے گرد چھوٹا مربع (مثال ۱۳.۲۹)

۲۰۶۹۳ ایسی صورت میں ہم ناپی گئی قیمتوں (r_0, h_0) کو مرکز رکھتے ہوئے ایک مربع منتخب کرتے ہیں جس میں H کی قیمت $\pi r_0^2 h_0$ سے قابل قبول حد سے
۲۰۶۹۴ زیادہ تجاوز نہ کرتا ہو۔

۲۰۶۹۵ مثال ۱۳.۲۹: نقطہ $(r_0, h_0 = (5, 12)$ کو مرکز رکھتے ہوئے ایسا مربع تلاش کریں جس میں حجم $H = \pi r^2 h$ کی قیمت ± 0.1 سے
۲۰۶۹۶ زیادہ تجاوز نہ کرے (شکل ۱۳.۳۲)۔

۲۰۶۹۷ حل: ہم $\mathrm{d}H$ کی درج ذیل تخمین لیتے ہیں۔

$$\mathrm{d}H = 2\pi r_0 h_0\,\mathrm{d}r + \pi r_0^2\,\mathrm{d}h = 2\pi(5)(12)\,\mathrm{d}r + \pi(5)^2\,\mathrm{d}h = 120\pi\,\mathrm{d}r + 25\pi\,\mathrm{d}h$$

۲۰۶۹۸ چونکہ ہم جس خطہ کے اندر رہنا چاہتے ہیں وہ خطہ ایک مربع ہے لہٰذا ہم $\mathrm{d}h = \mathrm{d}r$ لے کر

$$\mathrm{d}H = 120\pi\,\mathrm{d}r + 25\pi\,\mathrm{d}r = 145\pi\,\mathrm{d}r$$

۲۰۶۹۹ حاصل کرتے ہیں۔ ہم اب پوچھتے ہیں، $\mathrm{d}r$ کتنا چھوٹا ہونا چاہیے تاکہ $|\mathrm{d}H|$ کی قیمت 0.1 سے کسی صورت زیادہ نہ ہو؟ ہم عدم مساوات

$$|\mathrm{d}H| \leq 0.1$$

۲۰۷۰۰ سے شروع کر کے $\mathrm{d}H$ کو $\mathrm{d}r$ کی صورت

$$|145\pi\,\mathrm{d}r| \leq 0.1$$

۲۰۷۰۱ میں لکھ کر $\mathrm{d}r$ کی بالائی حد بندی تلاش کرتے ہیں:

$$|\mathrm{d}r| \leq \frac{0.1}{145\pi} \approx 2.1 \times 10^{-4}$$

نیچے پورا کرتے ہیں تاکہ غلطی سے $\mathrm{d}r$ بڑا نہ ہو جائے

۲۰۷۰۲ اب $\mathrm{d}h = \mathrm{d}r$ کی وجہ سے ہمارا مربع درج ذیل مساوات دے گا۔

$$|r - 5| \leq 2.1 \times 10^{-4}, \quad |h - 12| \leq 2.1 \times 10^{-4}$$

۲۰۷۰۳ جب تک (r, h) اس مربع میں رہیں، ہم توقع کر سکتے ہیں کہ $|\mathrm{d}H|$ کی قیمت 0.1 کے برابر یا اس سے کم ہو گی اور ہم توقع کر سکتے ہیں کہ $|\Delta H|$
۲۰۷۰۴ بھی تقریباً اتنا ہو گا۔ □

دو سے زیادہ متغیرات کے تفاعل

دو سے زیادہ متغیرات کے تفاعل کے لئے بھی ایسا ہو گا۔

۱. نقطہ $N_0(x_0, y_0, z_0)$ پر تفاعل $f(x, y, z)$ کی خط بندی درج ذیل ہو گی۔

$$L(x, y, z) = f(N_0) + f_x(N_0)(x - x_0) + f_y(N_0)(y - y_0) + f_z(N_0)(z - z_0) \tag{۷}$$

۲. فرض کریں بند ٹھوس مستطیل R کا مرکز N_0 ہے۔ یہ مستطیل ایسے خطہ میں پایا جاتا ہے جہاں f کے دور تبی جزوی تفرقات استمراری ہیں۔ مزید فرض کریں کہ پورے R پر $|f_{xx}|$، $|f_{yy}|$، $|f_{zz}|$، $|f_{xy}|$، $|f_{xz}|$ اور $|f_{yz}|$ کی قیمتیں M کے برابر یا اس سے کم ہیں۔ تب پورے R میں f کی تخمین L میں خلل[۳۹] $E(x, y, z) = f(x, y, z) - L(x, y, z)$ کی بالائی حد بندی درج ذیل عدم مساوات دے گی۔

$$|E| \leq \frac{1}{2} M(|x - x_0| + |y - y_0| + |z - z_0|)^2 \tag{۸}$$

۳. اگر f کے دور تبی جزوی تفرقات استمراری ہوں اور x، y، z کی قیمتیں چھوٹی تبدیلیوں $\mathrm{d}x$، $\mathrm{d}y$، $\mathrm{d}z$ کی وجہ سے x_0، y_0، z_0 سے تبدیل ہو جائیں، تب کل تفریق

$$\mathrm{d} = f_x(N_0)\,\mathrm{d}x + f_y(N_0)\,\mathrm{d}y + f_z(N_0)\,\mathrm{d}z$$

تفاعل f میں نتیجتاً تبدیلی کی اچھی تخمین ہو گی۔

مثال ۱۳.۳۰: نقطہ $(x_0, y_0, z_0) = (2, 1, 0)$ پر درج ذیل تفاعل کی خط بندی $L(x, y, z)$ تلاش کریں۔

$$f(x, y, z) = x^2 - xy + 3\sin z$$

تفاعل f کی جگہ تخمین L استعمال کرنے سے درج ذیل مستطیل میں پیدا خلل کی بالائی حد بندی دریافت کریں۔

$$R: \quad |x - 2| \leq 0.01, \quad |y - 1| \leq 0.02, \quad |z| \leq 0.01$$

حل: ہم پہلے درج ذیل معلوم کرتے ہیں۔

$$f(2, 1, 0) = 2, f_x(2, 1, 0) = 3, f_y(2, 1, 0) = -2, f_z(2, 1, 0) = 3$$

ان قیمتوں کو استعمال کرتے ہوئے مساوات ۷ درج ذیل دیتی ہے۔

$$L(x, y, z) = 2 + 3(x - 2) + (-2)(y - 1) + 3(z - 0) = 3x - 2y + 3z - 2$$

اسی طرح پہلے دور تبی جزوی تفرقات حاصل کرتے ہیں۔

$$f_{xx} = 2, f_{yy} = 0, f_{zz} = -3\sin z, f_{xy} = -1, f_{xz} = 0, f_{yz} = 0$$

---

[۳۹] error

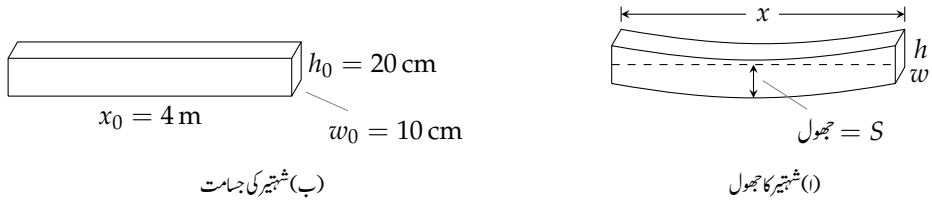

(ا) شہتیر کا جھول (ب) شہتیر کی جسامت

شکل ۱۳.۳۳

۲۰۷۲۰ مساوات ۸ میں M کو $|-3\sin z|$ کی زیادہ سے زیادہ قیمت یعنی 3 لے سکتے ہیں۔ یوں

$$|E| \leq \frac{1}{2}(3)(0.01 + 0.02 + 0.01)^2 = 0.0024$$

۲۰۷۲۱ ہو گا لہٰذا خلل 0.0024 سے زیادہ نہیں ہو گا۔ □

۲۰۷۲۲ مثال ۱۳.۳۱: یکساں بار بردار شہتیر کی جھول

۲۰۷۲۳ ایک افقی مستطیل شہتیر جس کے دونوں سروں کو سہارا دیا گیا اور جس پر یکساں بوجھ (یکساں وزن فی میٹر لمبائی) ڈالا گیا ہو اس بوجھ کے نیچے جھک جائے گا (شکل
۲۰۷۲۴ ۱۳.۳۳-ا)۔ جھکاو S کو درج ذیل کلیہ سے معلوم کیا جا سکتا ہے۔

$$S = C\frac{px^4}{wh}$$

۲۰۷۲۵ اس مساوات میں متغیرات کی تفصیل درج ذیل ہے۔

۲۰۷۲۶ p بوجھ (شہتیر کے ایک میٹر پر وزن۔ وزن کی اکائی نیوٹن ہے۔)

۲۰۷۲۷ x دونوں سروں پر سہارا کے بیچ فاصلہ (میٹر)

۲۰۷۲۸ w شہتیر کی چوڑائی (میٹر)

۲۰۷۲۹ h شہتیر کا قد (میٹر)

۲۰۷۳۰ C ایک مستقل جو اس مادہ پر منحصر ہو گا جس سے شہتیر بنایا گیا ہو۔

۲۰۷۳۱ ایک شہتیر کی لمبائی 4 m ، چوڑائی 10 cm اور قد 20 cm ہیں۔ اس پر $100\,\mathrm{N\,m^{-1}}$ بوجھ ڈالا گیا ہے (شکل ۱۳.۳۳-ب)۔ جھول میں
۲۰۷۳۲ تبدیلی dS سے شہتیر کے بارے میں کیا نتیجہ حاصل کیا جا سکتا ہے؟

۲۰۷۳۳ حل: چونکہ S چار متغیرات p ، x ، w ، h کا تفاعل ہے لہٰذا اس کی کل تفریق dS درج ذیل ہو گی۔

$$\mathrm{d}S = S_p\,\mathrm{d}p + S_x\,\mathrm{d}x + S_w\,\mathrm{d}w + S_h\,\mathrm{d}h$$

کسی مخصوص p_0 ، x_0 ، w_0 ، h_0 کے لئے اس کو حل کرتے ہوئے مساوات کی سادہ صورت حاصل کرنے سے

$$\mathrm{d}S = S_0\Big(\frac{\mathrm{d}p}{p_0} + \frac{4\,\mathrm{d}x}{x_0} - \frac{\mathrm{d}w}{w_0} - \frac{3\,\mathrm{d}h}{h_0}\Big)$$

ملتا ہے جہاں $S_0 = S(p_0, x_0, w_0, h_0) = Cp_0x_0^4/(w_0h_0^3)$ ہے۔

اگر $p_0 = 100\,\mathrm{N\,m^{-1}}$ ، $x_0 = 4\,\mathrm{m}$ ، $w_0 = 0.1\,\mathrm{m}$ اور $h_0 = 0.2\,\mathrm{m}$ ہوں تب

$$\mathrm{d}S = S_0\Big(\frac{\mathrm{d}p}{100} + \mathrm{d}x - 10\,\mathrm{d}w - 15\,\mathrm{d}h\Big) \tag{۹}$$

اس مساوات میں چونکہ $\mathrm{d}p$ اور $\mathrm{d}x$ کے عددی سر مثبت ہیں لہٰذا p اور x جھول بڑھاتے ہیں۔ اس کے برعکس $\mathrm{d}w$ اور $\mathrm{d}h$ کے عددی سر منفی ہیں لہٰذا w اور h جھول کم کرتے ہیں۔ چونکہ $\mathrm{d}p$ کا عددی سر $\frac{1}{100}$ ہے لہٰذا بوجھ کا جھول پر زیادہ اثر نہیں ہوگا۔ چونکہ $\mathrm{d}h$ کا عددی سر $\mathrm{d}w$ کے عددی سر سے بڑا ہے لہٰذا شہتیر کا قد $1\,\mathrm{cm}$ بڑھانے سے جھول زیادہ کم ہوگا۔ □

سوالات

خط بندی کی تلاش

سوال ۱۳.۲۰۶ تا سوال ۱۳.۲۱۱ میں ایک ایک نقطہ پر خط بندی $L(x,y)$ تلاش کریں۔

سوال ۱۳.۲۰۶: $f(x,y) = x^2 + y^2 + 1$ (ا) $(0,0)$ ، (ب) $(1,1)$

سوال ۱۳.۲۰۷: $f(x,y) = (x+y+2)^2$ (ا) $(0,0)$ ، (ب) $(1,2)$

سوال ۱۳.۲۰۸: $f(x,y) = 3x - 4y + 5$ (ا) $(0,0)$ ، (ب) $(1,1)$

سوال ۱۳.۲۰۹: $f(x,y) = x^3y^4$ (ا) $(1,1)$ ، (ب) $(0,0)$

سوال ۱۳.۲۱۰: $f(x,y) = e^x \cos y$ (ا) $(0,0)$ ، (ب) $(0,\pi/2)$

سوال ۱۳.۲۱۱: $f(x,y) = e^{2y-x}$ (ا) $(0,0)$ ، (ب) $(1,2)$

خطی تخمین کی بالائی حد بندی

سوال ۱۳.۲۱۲ تا سوال ۱۳.۲۱۷ میں N_0 پر تفاعل $f(x,y)$ کی خط بندی $L(x,y)$ تلاش کریں۔ اس کے بعد مربع R میں تخمین $f(x,y) \approx L(x,y)$ کی وجہ سے پیدا خلل کی مقدار $|E|$ کی بالائی حد بندی عدم مساوات ۵ سے دریافت کریں۔

سوال ۱۳.۲۱۲: $f(x,y) = x^2 - 3xy + 5, \quad N_0(2,1),\ R : |x-2| \le 0.1, |y-1| \le 0.1$

سوال ۱۳.۲۱۳: $f(x,y) = \frac{x^2}{2} + xy + \frac{y^2}{4} + 3x - 3y + 4,$
$N_0(2,2), R : |x-2| \le 0.1, |y-2| \le 0.1$

سوال ۱۳.۲۱۴: $f(x,y) = 1 + y + x\cos y, N_0(0,0), R : |x| \leq 0.2, |y| \leq 0.2$
(خلل E کے حصول میں $|\cos y| \leq 1$ اور $|\sin y| \leq 1$ استعمال کریں۔)

سوال ۱۳.۲۱۵: $f(x,y) = xy^2 + y\cos(x-1), N_0(1,2), R : |x-1| \leq 0.1, |y-2| \leq 0.1$

سوال ۱۳.۲۱۶: $f(x,y) = e^x \cos y, N_0(0,0), R : |x| \leq 0.1, |y| \leq 0.1$
(خلل E کے حصول میں $e^x \leq 1.11$ اور $|\cos y| \leq 1$ استعمال کریں۔)

سوال ۱۳.۲۱۷: $f(x,y) = \ln x + \ln y, N_0(1,1), R : |x-1| \leq 0.2, |y-1| \leq 0.2$

تبدیلی کو حساسیت، اندازہ

سوال ۱۳.۲۱۸: آپ ایک لمبی اور پتلی مستطیل کا رقبہ ناپنا چاہتے ہیں۔ کس ضلع کی ناپ میں زیادہ احتیاط ضروری ہے؟ اپنے جواب کی وجہ پیش کریں۔

سوال ۱۳.۲۱۹: (ا) نقطہ $(1,0)$ کے قریب تفاعل $f(x,y) = x^2(y+1)$ متغیر x یا y میں تبدیلی کو زیادہ حساس ہے؟ اپنے جواب کی وجہ پیش کریں۔ (ب) نقطہ $(1,0)$ پر $\mathrm{d}f$ کو صفر بنانے کے لئے $\mathrm{d}x$ اور $\mathrm{d}y$ نسبت تلاش کریں۔

سوال ۱۳.۲۲۰: تفاعل $T = x(e^y + e^{-y})$ کی قیمت x اور y ناپ کر حاصل کی جاتی ہے۔ یہ ناپ بالترتیب 2 اور $\ln 2$ ہیں جن میں زیادہ سے زیادہ خلل $|\mathrm{d}x| = 0.1$ اور $|\mathrm{d}y| = 0.02$ ممکن ہے۔ تفاعل کی قیمت میں زیادہ سے زیادہ خلل کتنا متوقع ہے؟

سوال ۱۳.۲۲۱: متغیرات r اور h کی ناپ میں $1\,\%$ خلل کی وجہ سے $H = \pi r^2 h$ میں کتنا خلل متوقع ہے؟

سوال ۱۳.۲۲۲: رداس $r = 5\,\mathrm{cm}$ اور قد $h = 12\,\mathrm{cm}$ ایک ملی میٹر درستگی تک ناپے جاتے ہیں۔ حجم $H = \pi r^2 h$ میں کتنا خلل متوقع ہے؟

سوال ۱۳.۲۲۳: ایک بیلن کا رداس تقریباً $r = 2\,\mathrm{m}$ اور قد تقریباً $h = 3\,\mathrm{m}$ ہے۔ رداس اور قد کی ناپ میں خلل کو یکساں تصور کریں۔ رداس اور قد کی ناپ میں زیادہ سے زیادہ کتنا خلل قابل برداشت ہو گا اگر یوں ناپی گئی حجم میں خلل $0.1\,\mathrm{m}^3$ سے کم رکھنا ہو۔

سوال ۱۳.۲۲۴: نقطہ $(1,1)$ کو مربع کا مرکز لیتے ہوئے ایسا مربع تلاش کریں جس میں $f(x,y) = x^3y^4$ کی قیمت میں ∓ 0.1 سے زیادہ تبدیلی نہ ہو۔

سوال ۱۳.۲۲۵: دو برقی مزاحمت متوازی جوڑ کر ایک برقی دور حاصل کیا جاتا ہے۔ ان کی کل مزاحمت $\frac{1}{R} = \frac{1}{R_1} + \frac{1}{R_2}$ ہو گی۔ (ا) درج ذیل دکھائیں۔

$$\mathrm{d}R = \left(\frac{R}{R_1}\right)^2 \mathrm{d}R_1 + \left(\frac{R}{R_2}\right)^2 \mathrm{d}r_2$$

(ب) آپ $R_1 = 100\,\Omega$ اور $R_2 = 400\,\Omega$ رکھنا چاہتے ہیں لیکن دستیاب مزاحمت کبھی بھی سو فی صد درست نہیں ہوتے۔ کیا R کی قیمت R_1 کو یا R_2 کو زیادہ حساس ہو گی؟ اپنے جواب کی وجہ پیش کریں۔

سوال ۱۳.۲۲۶: آپ سوال ۱۳.۲۲۵ کے برقی دور کی طرح دوسرے دور میں R_1 کی قیمت $20\,\Omega$ سے تبدیل کر کے $20.1\,\Omega$ کرتے ہیں جبکہ R_2 کی قیمت $25\,\Omega$ سے تبدیل کر کے $24.9\,\Omega$ کرتے ہیں۔ ان تبدیلیوں کی وجہ سے کل مزاحمت R میں کتنے فی صد تبدیلی رونما ہو گی؟

سوال ۱۳.۲۲۷: محدد کی تبدیلی میں خلل کی منتقل

(ا) اگر $x = 3 \mp 0.01$ اور $y = 4 \mp 0.01$ ہوں تب نقطہ $N(x,y)$ کے قطبی محدد r ، θ کتنی درستگی تک کلیات $r^2 =$

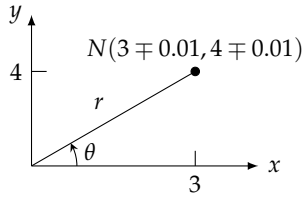

شکل ۱۳.۳۴

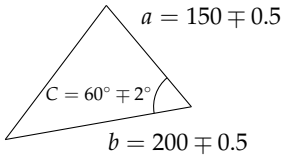

شکل ۱۳.۳۵

x^2+y^2 ، $\theta = \tan^{-1}\frac{y}{x}$ سے حاصل ہوں گے؟ حاصل قطبی محدد میں تبدیلی کو نقطہ $(x_0,y_0) = (3,4)$ پر مطابق قیمتوں کا فی صد لکھیں۔ (ب) نقطہ $(x_0,y_0) = (3,4)$ پر r اور θ کی قیمتیں x یا y کو زیادہ حساس ہیں؟ اپنے جواب کی وجہ پیش کریں (شکل ۱۳.۳۴)۔

تین متغیرات کے تفاعل

سوال ۱۳.۲۲۸ تا سوال ۱۳.۲۳۳ میں دیے نقاط پر تفاعل کی خط بندی $L(x,y)$ تلاش کریں۔

سوال ۱۳.۲۲۸: $f(x,y,z) = xy+yz+xz$ (ا) $(1,1,1)$، (ب) $(1,0,0)$، (ج) $(0,0,0)$

سوال ۱۳.۲۲۹: $f(x,y,z) = x^2+y^2+z^2$ (ا) $(1,1,1)$، (ب) $(0,1,0)$، (ج) $(1,0,0)$

سوال ۱۳.۲۳۰: $f(x,y,z) = \sqrt{x^2+y^2+z^2}$ (ا) $(1,0,0)$، (ب) $(1,1,0)$، (ج) $(1,2,2)$

سوال ۱۳.۲۳۱: $f(x,y,z) = \frac{\sin xy}{z}$ (ا) $(\frac{\pi}{2},1,1)$، (ب) $(2,0,1)$

سوال ۱۳.۲۳۲: $f(x,y,z) = e^x+\cos(y+z)$ (ا) $(0,0,0)$، (ب) $(0,\frac{\pi}{2},0)$، (ج) $(0,\frac{\pi}{4},\frac{\pi}{4})$

سوال ۱۳.۲۳۳: $f(x,y,z) = \tan^{-1}(xyz)$ (ا) $(1,0,0)$، (ب) $(1,1,0)$، (ج) $(1,1,1)$

سوال ۱۳.۲۳۴ تا سوال ۱۳.۲۳۷ میں N_0 پر تفاعل $f(x,y,z)$ کی خط بندی $L(x,y,z)$ تلاش کریں۔ اس کے بعد خطہ R میں تخمین $f(x,y,z) \approx L(x,y,z)$ سے پیدا خلل E کی مقدار کی بالائی حد بندی عدم مساوات ۸ سے حاصل کریں۔

سوال ۱۳.۲۳۴:
$$f(x,y,z) = xz-3yz+2, \quad N_0(1,1,2),$$
$$R: \quad |x-1| \le 0.01, |y-1| \le 0.01, |z-2| \le 0.02$$

سوال ۱۳.۲۳۵:
$$f(x,y,z) = x^2+xy+yz+\tfrac{1}{4}z^2, \quad N_0(1,1,2),$$
$$R: \quad |x-1| \le 0.01, |y-1| \le 0.01, |z-2| \le 0.08$$

سوال ۱۳.۲۳۶:
$$f(x,y,z) = xy+2yz-3xz, \quad N_0(1,1,0)$$
$$R: \quad |x-1| \le 0.01, |y-1| \le 0.01, |z| \le 0.01$$

سوال ۱۳.۲۳۷:
$$f(x,y,z) = \sqrt{2}\cos x \sin(y+z), \quad N_0(0,0,\tfrac{\pi}{4})$$
$$R: \quad |x| \le 0.01, |y| \le 0.01, |z-\tfrac{\pi}{4}| \le 0.01$$

نظریہ اور مثالیں

سوال ۱۳.۲۳۸: مثال ۱۳.۳۱ کی شہتیر کو پلٹا دیا جاتا ہے۔ یوں $h = 0.1\,\mathrm{m}$ اور $w = 0.2\,\mathrm{m}$ ہوں گے۔ (ا) اب $\mathrm{d}S$ کی کیا قیمت ہو گی؟ (ب) قد میں چھوٹی تبدیلی کی حساسیت اور چوڑائی میں تبدیلی کی حساسیت کا آپس میں موازنہ کریں۔

سوال ۱۳.۲۳۹: ایک نلکی ڈبے کا رداس $r = 2.54\,\mathrm{cm}$ اور قد $h = 12.7\,\mathrm{cm}$ ہے۔ (ا) اس کے حجم کی رداس میں تبدیلی کو حساسیت بالمقابل قد میں تبدیلی کو حساسیت کتنی ہے؟ (ب) کیا آپ ایسا نلکی ڈبہ تخلیق دے سکتے ہیں جس کا حجم ظاہری طور پر زیادہ لیکن حقیقت میں وہی ہو۔ (اس کے کئی جواب ممکن ہیں۔)

سوال ۱۳.۲۴۰: اگر $|a|$ کی قیمت $|b|$، $|c|$، $|d|$ سے بہت زیادہ ہو تب مقطع

$$f(a,b,c,d) = \begin{vmatrix} a & b \\ c & d \end{vmatrix}$$

متغیرات a، b، c اور d میں کس متغیر کو زیادہ حساس ہے؟ اپنے جواب کی وجہ پیش کریں۔

سوال ۱۳.۲۴۱: حاصل ضرب $p(a,b,c) = abc$ متغیرات a، b اور c میں بیکوقت $2\,\%$ خلل کو کتنا حساس ہے؟

سوال ۱۳.۲۴۲: بغیر ڈھکن ایک خول $0.5\,\mathrm{cm}$ موٹی چادر سے بنایا جاتا ہے۔ اس خول کی اندرونی لمبائی $10\,\mathrm{cm}$، اندرونی چوڑائی $10\,\mathrm{cm}$ اور اندرونی گہرائی $5\,\mathrm{cm}$ ہے۔ اس خول میں کتنی چادر استعمال کی گئی؟

سوال ۱۳.۲۴۳: مثلث کا رقبہ $\frac{1}{2}ab\sin C$ کے برابر ہوتا ہے جہاں a اور b مستطیل کے دو اضلاع کی لمبائی جبکہ C ان اضلاع کے بیچ زاویہ ہے (شکل ۱۳.۳۵)۔ آپ $a = 150$، $b = 200$ اور $C = 60^\circ$ ناپتے ہیں۔ اگر a اور b کی ناپ میں ∓ 0.5 اور C کی ناپ میں $\mp 2^\circ$ خلل متوقع ہو تب رقبہ میں کتنا خلل ہو سکتا ہے؟ (یاد رہے کہ زاویہ ریڈیئن میں لینا ضروری ہے۔)

سوال ۱۳.۲۴۴: فرض کریں $u = xe^y + y\sin z$ ہے جہاں x، y اور z کی ناپ میں بالترتیب زیادہ سے زیادہ ∓ 0.2، ∓ 0.6 اور $\mp \frac{\pi}{180}$ خلل ممکن ہے۔ آپ $x = 2$، $y = \ln 3$ اور $z = \frac{\pi}{2}$ ناپتے ہیں۔ بتائیں u میں زیادہ سے زیادہ کتنا خلل ممکن ہے؟

سوال ۱۳.۲۴۵: ولسن کا کلیہ برائے جسامت کھیپ

اقتصادیات کی میدان میں ولسن کا کلیہ برائے جسامت کھیپ کہتا ہے کہ مال (جوتے، برتن، وغیرہ) کی بہترین تعداد Q جو ایک دکان منگوا سکتا ہے $Q = \sqrt{\frac{2KM}{h}}$ ہے جہاں مال منگواتے وقت ادائگی K، ہفتہ وار فروخت کی تعداد M، اور ایک رکن کو دکان میں رکھنے کا ہفتہ وار خرچ (دکان کا کرایا، دکان میں مزدوروں کی تنخواہ، وغیرہ) h ہو۔ نقطہ $(K_0, M_0, h_0) = (2, 20, 0.05)$ کے قریب Q کس متغیر کو زیادہ حساس ہے؟ اپنے جواب کی وجہ پیش کریں۔

سوال ۱۳.۲۴۶: کیا پورے کھلا خطہ R میں استمراری دورتبی جزوی تفرقات والا تفاعل $f(x,y)$ خطہ R میں لازماً استمراری ہو گا؟ اپنے جواب کی وجہ پیش کریں۔

سوال ۱۳.۲۴۷: کیا پورے کھلا خطہ R میں استمراری دورتبی جزوی تفرقات والے اتفاعل $f(x,y)$ کے خطہ R میں لازماً استمراری یک رتبی جزوی تفرقات پائے جائیں گے؟ اپنے جواب کی وجہ پیش کریں۔

۱۳.۵ زنجیری قاعدہ

جب ہم فضا میں کسی منحنی $x = g(t), y = h(t), z = k(t)$ کے مختلف نقطوں پر درجہ حرارت $w = f(x, y, z)$ جاننا چاہتے ہوں، یا کسی مائع یا گیس میں کسی راہ پر دباو میں دلچسپی رکھتے ہوں، ہم f کو واحد متغیر t کا تفاعل تصور کر سکتے ہیں۔ یوں t کی ہر قیمت کے لئے نقطہ $(g(t), h(t), k(t))$ پر حرارت کی قیمت مرکب تفاعل $f(g(t), h(t), k(t))$ کی قیمت دے گی۔ اس راہ پر t کے لحاظ سے f کی شرح تبدیلی ہمیں t کے لحاظ سے f کا تفرق دیگا، بشرطیکہ ایسا تفرق موجود ہو۔

بعض اوقات ہم g ، h اور k کے کلیات کو f کے کلیہ میں پر کر کے t کے لحاظ سے f کا بلاواسطہ تفرق لے سکتے ہیں۔ لیکن زیادہ تر g ، h اور k کے کلیات اتنا پیچیدہ ہوتے ہیں یا ان کے کلیات باآسانی دستیاب نہیں ہوتے ہیں لہٰذا انہیں f میں پر کر کے t کے لحاظ سے f کا بلاواسطہ تفرق لینا ممکن نہیں ہو گا۔ ایسی صورتوں میں تفاعل کا تفرق حاصل کرنے کی خاطر ہم زنجیری قاعدہ کی مدد لیتے ہیں۔ زنجیری قاعدہ کا روپ متغیرات کی تعداد پر منحصر ہو گا۔ ماسوائے اضافی متغیرات کے زنجیری قاعدہ عین حصہ ۳.۵ کے زنجیری قاعدہ کی طرح کام کرتا ہے۔

دو متغیرات کے تفاعل کا زنجیری قاعدہ

ہم نے حصہ ۳.۵ میں زنجیری قاعدہ استعمال کیا جہاں $w = f(x)$ متغیر x کا قابل تفرق تفاعل تھا اور $x = g(t)$ متغیر t کا قابل تفرق تفاعل تھا۔ یوں w متغیر t کا قابل تفرق تفاعل تھا اور زنجیری قاعدہ کے تحت $\frac{\mathrm{d}w}{\mathrm{d}t}$ کو درج ذیل کلیہ سے حاصل کیا جا سکتا تھا۔

$$\frac{\mathrm{d}w}{\mathrm{d}t} = \frac{\mathrm{d}w}{\mathrm{d}x}\frac{\mathrm{d}x}{\mathrm{d}t}$$

تفاعل $w = f(x, y)$ کے لئے ایسا کلیہ مسئلہ ۱۳.۵ پیش کرتا ہے۔

مسئلہ ۱۳.۵: دو غیر تابع متغیرات کے تفاعل کا زنجیری قاعدہ

اگر $w = f(x, y)$ قابل تفرق ہو اور x ، y متغیر t کے قابل تفرق تفاعل ہوں تب w متغیر t کا قابل تفرق تفاعل ہو گا اور $\frac{\mathrm{d}w}{\mathrm{d}t}$ درج ذیل ہو گا۔

$$\frac{\mathrm{d}w}{\mathrm{d}t} = \frac{\partial f}{\partial x}\frac{\mathrm{d}x}{\mathrm{d}t} + \frac{\partial f}{\partial y}\frac{\mathrm{d}y}{\mathrm{d}t} \tag{۱}$$

ثبوت: ہم نے اتنا دکھانا ہو گا کہ اگر x اور y نقطہ $t = t_0$ پر قابل تفرق ہوں تب w بھی t_0 پر قابل تفرق ہو گا اور $N_0 = (x(t_0, y(t_0))$ پر درج ذیل ہو گا۔

$$\left(\frac{\mathrm{d}w}{\mathrm{d}t}\right)_{t_0} = \left(\frac{\partial w}{\partial x}\right)_{N_0}\left(\frac{\mathrm{d}x}{\mathrm{d}t}\right)_{t_0} + \left(\frac{\partial w}{\partial y}\right)_{N_0}\left(\frac{\mathrm{d}y}{\mathrm{d}t}\right)_{t_0} \tag{۲}$$

ہم t کو t_0 سے $t_0 + \Delta t$ منتقل کرنے سے پیدا بڑھوتری Δx ، Δy اور Δw لیتے ہیں۔ چونکہ f قابل تفرق ہے (حصہ ۱۳.۴ میں دی گئی تعریف ذہن میں رکھتے ہوئے)

$$\Delta w = \left(\frac{\partial w}{\partial x}\right)_{N_0}\Delta x + \left(\frac{\partial w}{\partial y}\right)_{N_0}\Delta y + \epsilon_1\Delta x + \epsilon_2\Delta y \tag{۳}$$

ہوگا، جہاں $\Delta x, \Delta y \to 0$ کرنے سے $\epsilon_1, \epsilon_2 \to 0$ ہوں گے۔ ہم مساوات ۳ کے دونوں اطراف کو Δt سے تقسیم کرکے Δt کو صفر کے قریب پہنچا کر $\frac{\mathrm{d}w}{\mathrm{d}t}$ حاصل کرتے ہیں۔ تقسیم سے

$$\frac{\Delta w}{\Delta t} = \left(\frac{\partial w}{\partial x}\right)_{N_0} \frac{\Delta x}{\Delta t} + \left(\frac{\partial w}{\partial y}\right)_{N_0} \frac{\Delta y}{\Delta t} + \epsilon_1 \frac{\Delta x}{\Delta t} + \epsilon_2 \frac{\Delta y}{\Delta t}$$

حاصل ہوگا اور Δt کو صفر کے قریب پہنچانے سے درج ذیل ملے گا۔

$$\begin{aligned}\left(\frac{\mathrm{d}w}{\mathrm{d}t}\right)_{t_0} &= \lim_{\Delta t \to 0} \frac{\Delta w}{\Delta t} \\ &= \left(\frac{\partial w}{\partial x}\right)_{N_0} \left(\frac{\mathrm{d}x}{\mathrm{d}t}\right)_{t_0} + \left(\frac{\partial w}{\partial y}\right)_{N_0} \left(\frac{\mathrm{d}y}{\mathrm{d}t}\right)_{t_0} + 0 \cdot \left(\frac{\mathrm{d}x}{\mathrm{d}t}\right)_{t_0} + 0 \cdot \left(\frac{\mathrm{d}y}{\mathrm{d}t}\right)_{t_0}\end{aligned}$$

یہ مساوات ۲ کی تصدیق کرتی ہے لہٰذا ثبوت مکمل ہوتا ہے۔

□

تفرق $\frac{\mathrm{d}w}{\mathrm{d}t}$ میں حقیقی غیر تابع متغیر t اور تابع متغیر w ہے جبکہ x اور y درمیانی متغیرات ہیں جنہیں t قابو کرتا ہے۔ زنجیری قاعدہ کا درج ذیل روپ ہمیں مساوات ۱ میں مختلف تفرقات کے حصول کا صحیح طریقہ دیتا ہے۔

$$\frac{\mathrm{d}w}{\mathrm{d}t}(t_0) = \frac{\partial f}{\partial x}(x_0, y_0) \cdot \frac{\mathrm{d}x}{\mathrm{d}t}(t_0) + \frac{\partial f}{\partial y}(x_0, y_0) \cdot \frac{\mathrm{d}y}{\mathrm{d}t}(t_0)$$

یوں $\frac{\mathrm{d}x}{\mathrm{d}t}$ اور $\frac{\mathrm{d}y}{\mathrm{d}t}$ نقطہ t_0 پر حاصل کیے جائیں گے۔ حقیقی غیر تابع متغیر کی قیمت t_0، درمیانی متغیرات x اور y کی x_0 اور y_0 قیمتیں تعین کرتا ہے۔ جزوی تفرقات $\frac{\partial w}{\partial x}$ اور $\frac{\partial w}{\partial y}$ نقطہ (x_0, y_0) پر حاصل کیے جاتے ہیں۔

زنجیری قاعدہ کو شکل ۱۳.۳۶ کی مدد سے یاد رکھنا زیادہ آسان ہوگا۔ اس طرح شکل کو **شکل شجرہ**[۴۰] کہتے ہیں۔ آپ شکل شجرہ سے دیکھ سکتے ہیں کہ جب $t = t_0$ ہو تفرقات $\frac{\mathrm{d}x}{\mathrm{d}t}$ اور $\frac{\mathrm{d}y}{\mathrm{d}t}$ کی قیمتیں t_0 پر حاصل کیا جاتا ہے۔ اب قابل تفرق تفاعل x کے لئے x_0 کی قیمت t_0 تعین کرتا ہے اور قابل تفرق تفاعل y کے لئے y_0 کی قیمت t_0 تعین کرتا ہے۔ جزوی تفرقات $\frac{\partial w}{\partial x}$ ، $\frac{\partial w}{\partial y}$ (جو از خود x اور y کے تفاعل ہیں) کی قیمتیں نقطہ $N_0(x_0, y_0)$ پر حاصل کی جاتی ہیں جو t_0 کا مطابقتی نقطہ ہے۔ حقیقی غیر تابع متغیر t ہے جبکہ x اور y درمیانے متغیرات اور w تابع متغیر ہے۔

مثال ۱۳.۳۲: زنجیری قاعدہ استعمال کرتے ہوئے راہ $x = \cos t,\ y = \sin t$ پر درج ذیل کا تفرق $\frac{\mathrm{d}w}{\mathrm{d}t}$ حاصل کریں۔

$$w = xy$$

نقطہ $t = \frac{\pi}{2}$ پر اس تفرق کی قیمت کیا ہوگی؟

---

[۴۰] treediagram

زنجیری قاعدہ

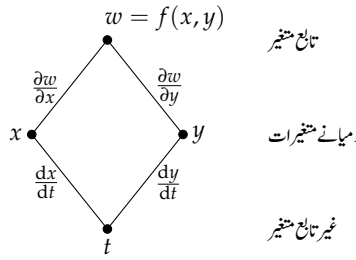

$$\frac{dw}{dt} = \frac{\partial w}{\partial x}\frac{dx}{dt} + \frac{\partial w}{\partial y}\frac{dy}{dt}$$

شکل ۱۳.۳۶: زنجیری قاعدہ یاد رکھنے کی خاطر اس شکل کو ذہن میں رکھیں۔ اب $\frac{dw}{dt}$ معلوم کرنے کی خاطر w سے شروع ہو کر t تک باری باری دونوں راہ پر چل کر تفرقات کا حاصل ضرب لیں۔ آخر میں دونوں راہ کے حاصل ضرب کا مجموعہ لیں۔

۲۰۸۲۸ حل: ہم مساوات اکا دایاں ہاتھ $w = xy$ ، $x = \cos t$ اور $y = \sin t$ لیتے ہوئے معلوم کرتے ہیں:

$$\frac{\partial w}{\partial x} = y = \sin t, \quad \frac{\partial w}{\partial y} = x = \cos t, \quad \frac{dx}{dt} = -\sin t, \quad \frac{dy}{dt} = \cos t$$

$$\begin{aligned}\frac{dw}{dt} &= \frac{\partial w}{\partial x}\frac{dx}{dt} + \frac{\partial w}{\partial y}\frac{dy}{dt} = (\sin t)(-\sin t) + (\cos t)(\cos t)\\ &= -\sin^2 t + \cos^2 t = \cos 2t\end{aligned}$$

۲۰۸۲۹ آپ نے دیکھا کہ ہم نے $x = \cos t$ اور $y = \sin t$ کو جزوی تفرقات $\frac{\partial w}{\partial x}$ اور $\frac{\partial w}{\partial y}$ میں پر کیا (شکل ۱۳.۳۷)۔ یوں حاصل تفرق $\frac{dw}{dt}$ کا
۲۰۸۳۰ اظہار غیر تابع متغیر t کی صورت میں کیا جاتا ہے (جس میں درمیانے متغیرات x اور y نہیں پائے جاتے ہیں۔)

۲۰۸۳۱ اس مثال میں ہم حاصل نتیجہ کی تصدیق زیادہ بلاواسطہ طریقہ سے کر سکتے ہیں۔ ہم w کو t کا تفاعل لکھتے ہیں:

$$w = xy = \cos t \sin t = \frac{1}{2}\sin 2t$$

۲۰۸۳۲ یوں

$$\frac{dw}{dt} = \frac{d}{dt}\left(\frac{1}{2}\sin 2t\right) = \frac{1}{2}\cdot 2\cos 2t = \cos 2t$$

۲۰۸۳۳ ہو گا۔ دونوں صورتوں میں $t = \frac{\pi}{2}$ پر درج ذیل ہو گا۔

$$\left(\frac{dw}{dt}\right)_{t=\pi/2} = \cos(2\cdot\tfrac{\pi}{2}) = \cos\pi = -1$$

۲۰۸۳۴ □

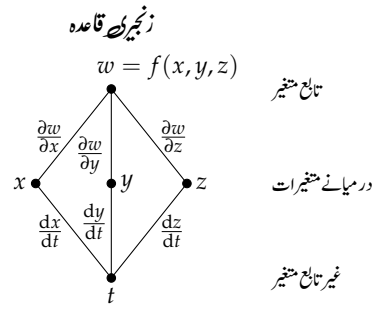

$$\frac{dw}{dt} = \frac{\partial w}{\partial x}\frac{dx}{dt} + \frac{\partial w}{\partial y}\frac{dy}{dt} + \frac{\partial w}{\partial z}\frac{dz}{dt}$$

شکل ۱۳.۳۷: یہاں w سے t تک تین راستے ہیں۔ اب بھی $\frac{dw}{dt}$ حاصل کرنے کی خاطر ہر راہ پر چلتے ہوئے تفرقات کا ضرب لے کر تمام کا مجموعہ لیں۔

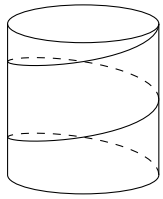

شکل ۱۳.۳۸: پیچدار مخنی

۲۰۸۷۵ **تین متغیرات کے تفاعل کا زنجیری قاعدہ**

۲۰۸۷۶ ہم مساوات ۱ کے ساتھ ایک جزو جمع کرتے ہوئے زنجیری قاعدہ حاصل کرتے ہیں۔

۲۰۸۷۷ **تین غیر تابع متغیرات کے تفاعل کا زنجیری قاعدہ**

۲۰۸۷۸

$$\frac{dw}{dt} = \frac{\partial f}{\partial x}\frac{dx}{dt} + \frac{\partial f}{\partial y}\frac{dy}{dt} + \frac{\partial f}{\partial z}\frac{dz}{dt} \qquad (۴)$$

۲۰۸۷۹ اس کا ثبوت مساوات ۱ کی ثبوت کی طرح ہے، بس اب دو کے بجائے تین درمیانے متغیرات ہوں گے۔

۲۰۸۸۰ مثال ۱۳.۳۳: پیچ دار مخنی پر تفاعل کی قیمت میں تبدیلی

۲۰۸۸۱ درج ذیل لیتے ہوئے $\frac{dw}{dt}$ تلاش کریں۔

$$w = xy + z, \quad x = \cos t, \quad y = \sin t, \quad z = t$$

۲۰۸۸۲ نقطہ $t = 0$ پر اس تفرق کی قیمت کیا ہو گی (شکل ۱۳.۳۸)؟

۲۰۸۸۳ حل:

$$\begin{aligned}\frac{dw}{dt} &= \frac{\partial w}{\partial x}\frac{dx}{dt} + \frac{\partial w}{\partial y}\frac{dy}{dt} + \frac{\partial w}{\partial z}\frac{dz}{dt} && \text{مساوات ۴}\\ &= (y)(-\sin t) + (x)(\cos t) + (1)(1)\\ &= (\sin t)(-\sin t) + (\cos t)(\cos t) + 1\\ &= -\sin^2 t + \cos^2 t + 1 = 1 + \cos 2t\end{aligned}$$

یوں $t = 0$ پر درج ذیل ہوگا۔

$$\left(\frac{\mathrm{d}w}{\mathrm{d}t}\right)_{t=0} = 1 + \cos(0) = 2$$

□

سطح پر معین تفاعل کا زنجیری قاعدہ

اگر ہماری دلچسپی فضا میں ایک کرہ پر نقطہ (x, y, z) کے حرارت $w = f(x, y, z)$ سے ہو، ہم x ، y اور z کو متغیرات r اور s کے تفاعل تصور کر سکتے ہیں جو اس نقطہ کے عرض بلند اور طول بلند قیمتیں دیتے ہیں۔ اگر $x = g(r, s)$ ، $y = h(r, s)$ اور $z = k(r, s)$ ہوں تب ہم حرارت کو r اور s کا مرکز تفاعل

$$w = f(g(r, s), h(r, s), k(r, s))$$

تصور کر سکتے ہیں۔ موزوں حالات میں r اور s دونوں کے لحاظ سے w کے جزوی تفرقات موجود ہوں گے جنہیں درج ذیل طریقہ سے حاصل کیا جا سکتا ہے۔

دو غیر تابع متغیرات اور تین درمیانے متغیرات کا زنجیری قاعدہ

فرض کریں $w = f(x, y, z)$ ، $x = g(r, s)$ ، $y = h(r, s)$ اور $z = k(r, s)$ ہوں۔ اگر چاروں تفاعل قابل تفرق ہوں، تب r اور s کے لحاظ سے w کے جزوی تفرقات قابل پائے جائیں گے جنہیں درج ذیل مساوات سے حاصل کیا جا سکتا ہے۔

$$\frac{\partial w}{\partial r} = \frac{\partial w}{\partial x}\frac{\partial x}{\partial r} + \frac{\partial w}{\partial y}\frac{\partial y}{\partial r} + \frac{\partial w}{\partial z}\frac{\partial z}{\partial r} \tag{۵}$$

$$\frac{\partial w}{\partial s} = \frac{\partial w}{\partial x}\frac{\partial x}{\partial s} + \frac{\partial w}{\partial y}\frac{\partial y}{\partial s} + \frac{\partial w}{\partial z}\frac{\partial z}{\partial s} \tag{۶}$$

ہم s کو مستقل تصور کر کے اور r کو t لیتے ہوئے مساوات ۵ کو مساوات ۴ سے حاصل کر سکتے ہیں۔ اسی طرح ہم r کو مستقل تصور کر کے اور s کو t لیتے ہوئے مساوات ۶ کو مساوات ۴ سے حاصل کر سکتے ہیں۔ مساوات ۵ اور مساوات ۶ کے اشکال شجرہ شکل ۱۳.۳۹ میں دکھائی گئی ہیں۔

مثال ۱۳.۳۴: درج ذیل لیتے ہوئے $\frac{\partial w}{\partial r}$ اور $\frac{\partial w}{\partial s}$ کو r اور s کی صورت میں لکھیں۔

$$w = x + 2y + z^2, \quad x = \frac{r}{x}, \quad y = r62 + \ln s, \quad z = 2r$$

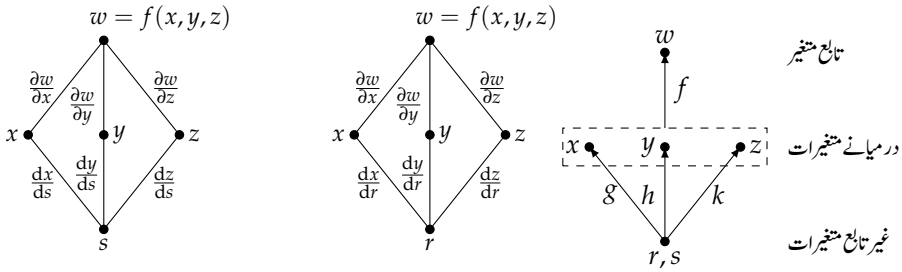

$$\frac{dw}{ds} = \frac{\partial w}{\partial x}\frac{dx}{ds} + \frac{\partial w}{\partial y}\frac{dy}{ds} + \frac{\partial w}{\partial z}\frac{dz}{ds} \qquad \frac{dw}{dr} = \frac{\partial w}{\partial x}\frac{dx}{dr} + \frac{\partial w}{\partial y}\frac{dy}{dr} + \frac{\partial w}{\partial z}\frac{dz}{dr} \qquad w = f(g(r,s), h(r,s), k(r,s))$$

(ج) (ب) (ا)

شکل ۱۳.۳۹: مرکب تفاعل اور شکل شجرہ برائے مساوات ۵ اور مساوات ۶

۲۰۸۹۸ حل:

$$\begin{aligned}
\frac{\partial w}{\partial r} &= \frac{\partial w}{\partial x}\frac{\partial x}{\partial r} + \frac{\partial w}{\partial y}\frac{\partial y}{\partial r} + \frac{\partial w}{\partial z}\frac{\partial z}{\partial r} && \text{مساوات ۵}\\
&= (1)\left(\frac{1}{s}\right) + (2)(2r) + (2z)(2)\\
&= \frac{1}{s} + 4r + (4r)(2) = \frac{1}{s} + 12r\\
\frac{\partial w}{\partial s} &= \frac{\partial w}{\partial x}\frac{\partial x}{\partial s} + \frac{\partial w}{\partial y}\frac{\partial y}{\partial s} + \frac{\partial w}{\partial z}\frac{\partial z}{\partial s} && \text{مساوات ۶}\\
&= (1)\left(-\frac{r}{s^2}\right) + (2)\left(\frac{1}{s}\right) + (2z)(0) = \frac{2}{s} - \frac{r}{s^2}
\end{aligned}$$

۲۰۸۹۹ □

۲۰۹۰۰ اگر f تین کے بجائے دو متغیرات کا تفاعل ہو تب درمیانہ متغیر z نہیں پایا جائے گا لہٰذا مساوات ۵ اور مساوات ۶ میں ایک ایک جزو کم ہو گا۔

۲۰۹۰۱ اگر $w = f(x,y)$ ، $x = g(r,s)$ اور $y = h(r,s)$ ہوں تب درج ذیل ہوں گے۔

$$\frac{\partial w}{\partial r} = \frac{\partial w}{\partial x}\frac{\partial x}{\partial r} + \frac{\partial w}{\partial y}\frac{\partial y}{\partial r} \quad \text{اور} \quad \frac{\partial w}{\partial s} = \frac{\partial w}{\partial x}\frac{\partial x}{\partial s} + \frac{\partial w}{\partial y}\frac{\partial y}{\partial s} \tag{۷}$$

۲۰۹۰۲ شکل ۱۳.۴۰ میں مساوات ۷ کی شکل شجرہ دکھائی گئی ہے۔

۲۰۹۰۳ مثال ۱۳.۳۵: درج ذیل لیتے ہوئے $\frac{\partial w}{\partial r}$ اور $\frac{\partial w}{\partial s}$ کو r اور s کی صورت میں لکھیں۔

$$w = x^2 + y^2, \quad x = r - s, \quad y = r + s$$

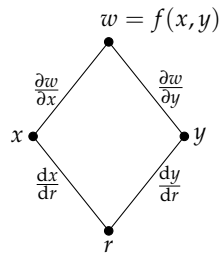

$$\frac{dw}{dr} = \frac{\partial w}{\partial x}\frac{dx}{dr} + \frac{\partial w}{\partial y}\frac{dy}{dr}$$

شکل ۱۳.۴۰: مساوات ۷ کی پہلی مساوات کی شکل شجرہ۔

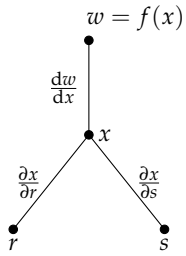

$$\frac{dw}{dr} = \frac{dw}{dx}\frac{\partial x}{\partial r}$$
$$\frac{dw}{ds} = \frac{dw}{dx}\frac{\partial x}{\partial s}$$

شکل ۱۳.۴۱: شجرہ برائے مساوات ۸

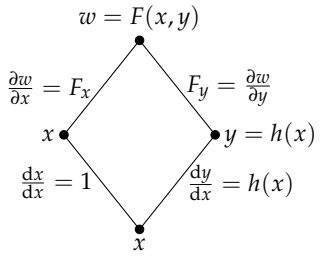

$$\frac{dw}{dx} = F_x \cdot 1 + F_y \cdot \frac{dy}{dx}$$

شکل ۱۳.۴۲: شجرہ برائے مساوات ۹

۲۰۹۰۴ حل: ہم مساوات ۷ استعمال کرتے ہیں۔

$$\begin{aligned}\frac{\partial w}{\partial r} &= \frac{\partial w}{\partial x}\frac{\partial x}{\partial r} + \frac{\partial w}{\partial y}\frac{\partial y}{\partial r} \\ &= (2x)(1) + (2y)(1) \\ &= 2(r-s) + 2(r+s) \\ &= 4r\end{aligned} \qquad \begin{aligned}\frac{\partial w}{\partial s} &= \frac{\partial w}{\partial x}\frac{\partial x}{\partial s} + \frac{\partial w}{\partial y}\frac{\partial y}{\partial s} \\ &= (2x)(-1) + (2y)(1) \\ &= -2(r-s) + 2(r+s) \\ &= 4s\end{aligned}$$

۲۰۹۰۵ □

۲۰۹۰۶ اگر f صرف x کا تفاعل ہو تب مساوات ۵ اور مساوات ۶ مزید سادہ صورت اختیار کرتے ہیں۔

۲۰۹۰۷ اگر $w = f(x)$ اور $x = g(r, s)$ ہوں تب

$$\frac{\partial w}{\partial s} = \frac{dw}{dx}\frac{\partial x}{\partial s} \quad \text{اور} \quad \frac{\partial w}{\partial r} = \frac{dw}{dx}\frac{\partial x}{\partial r} \tag{۸}$$

۲۰۹۰۸ ہوں گے جہاں $\frac{dw}{dx}$ سادہ (ایک متغیر کا) تفرق ہے (شکل ۱۳.۴۱)۔

۲۰۹۰۹ خفی تفرق (باب ۳)

۲۰۹۱۰ یقین کیجیے مساوات ۱ میں دیا گیا دو متغیرات کا زنجیری قاعدہ سے ایک ایسا کلیہ اخذ ہوتا ہے جو خفی تفرق کا حصول نہایت آسان بناتا ہے۔ فرض کریں

۲۰۹۱۱ ۱. تفاعل $F(x, y)$ قابل تفرق ہے اور

۲۰۹۱۲ ۲. مساوات $F(x, y) = 0$ تابع متغیر y کو خفی طور پر غیر تابع متغیر x کے قابل تفرق مساوات کی کی صورت، مثلاً $y = h(x)$، میں پیش
۲۰۹۱۳ کرتا ہو۔

۲۰۹۱۴ چونکہ $w = F(x,y) = 0$ ہے، تفرق $\frac{\mathrm{d}w}{\mathrm{d}x}$ صفر ہوگا۔ زنجیری قاعدہ (شکل ۱۳.۴۲) سے تفرق حاصل کرتے ہوئے درج ذیل حاصل ہوگا:

$$0 = \frac{\mathrm{d}w}{\mathrm{d}x} = F_x \frac{\mathrm{d}x}{\mathrm{d}x} + F_y \frac{\mathrm{d}y}{\mathrm{d}x} \qquad \text{مساوات ۱ میں } t = x \text{ اور } f = F$$

$$= F_x \cdot 1 + F_y \cdot \frac{\mathrm{d}y}{\mathrm{d}x} \tag{۹}$$

۲۰۹۱۵ اگر $F_y = \frac{\partial w}{\partial y} \neq 0$ ہو تب ہم مساوات ۹ کو $\frac{\mathrm{d}y}{\mathrm{d}x}$ کے لئے حل کر کے درج ذیل حاصل کرتے ہیں۔

$$\frac{\mathrm{d}y}{\mathrm{d}x} = -\frac{F_x}{F_y}$$

۲۰۹۱۶ فرض کریں $F(x,y)$ قابل تفرق ہو اور مساوات $F(x,y) = 0$ تابع متغیر y کو غیر تابع متغیر x کے قابل تفرق تفاعل کی صورت میں پیش
۲۰۹۱۷ کرتی ہو، تب ایسا نقطہ پر جہاں $F_y \neq 0$ ہو درج ذیل ہوگا۔

$$\frac{\mathrm{d}y}{\mathrm{d}x} = -\frac{F_x}{F_y} \tag{۱۰}$$

۲۰۹۱۸ مثال ۱۳.۳۶: $x^2 + \sin y - 2y = 0$ لیتے ہوئے $\frac{\mathrm{d}y}{\mathrm{d}x}$ تلاش کریں۔ حل: ہم $F(x,y) = x^2 + \sin y - 2y$
۲۰۹۱۹ لیتے ہیں۔ یوں

$$\frac{\mathrm{d}y}{\mathrm{d}x} = -\frac{F_x}{F_y} = -\frac{2x}{\cos y - 2} \qquad \text{مساوات ۱۰}$$

۲۰۹۲۰ ہوگا۔ ہم مثال ۳.۴۹ میں اس کو پہلے حل کر چکے ہیں۔ آپ دیکھ سکتے ہیں کہ موجودہ طریقہ زیادہ جلدی جواب مہیا کرتا ہے۔ □

۲۰۹۲۱ متعدد متغیرات کے تفاعل کا زنجیری قاعدہ

۲۰۹۲۲ فرض کریں $f(x,y,\cdots,v)$ غیر تابع (متناہی تعداد کے) متغیرات $x,y,\cdots,v$ کا قابل تفرق تفاعل ہے اور $x,y,\cdots,v$ (ایک
۲۰۹۲۳ دوسرے متناہی تعداد کے) متغیرات $p,q,\cdots,t$ کے قابل تفرق تفاعل ہیں۔ تب w متغیرات $p,q,\cdots,t$ کا قابل تفرق تفاعل ہوگا اور ان
۲۰۹۲۴ متغیرات کے لحاظ سے w کے جزوی تفرقات کی صورت درج ذیل ہوگی۔

$$\frac{\partial w}{\partial p} = \frac{\partial w}{\partial x}\frac{\partial x}{\partial p} + \frac{\partial w}{\partial y}\frac{\partial y}{\partial p} + \cdots + \frac{\partial w}{\partial v}\frac{\partial v}{\partial p} \tag{۱۱}$$

۲۰۹۲۵ باقی مساوات حاصل کرنے کے لئے p کی جگہ باری باری $q,\cdots,t$ پر کریں۔

۲۰۹۲۶ مساوات ۱۱ کو یاد رکھنے کا ایک طریقہ یہ ہے کہ اس کے دائیں ہاتھ کو دو سمتیات، جن کے اجزاء درج ذیل ہوں، کا ضرب نقطہ تصور کیا جائے۔

$$\underbrace{\left(\frac{\partial w}{\partial x}, \frac{\partial w}{\partial y}, \cdots, \frac{\partial w}{\partial v}\right)}_{\text{درمیانی متغیرات کے لحاظ سے } w \text{ کے تفرقات}} \quad \text{اور} \quad \underbrace{\left(\frac{\partial x}{\partial p}, \frac{\partial y}{\partial p}, \cdots, \frac{\partial v}{\partial p}\right)}_{\text{منتخب غیر تابع متغیر کے لحاظ سے درمیانی متغیرات کے تفرقات}}$$

سوالات

زنجیری قاعدہ: ایک غیر تابع متغیر

سوال ۱۳.۲۴۸ تا سوال ۱۳.۲۵۳ میں (ا) پہلے زنجیری قاعدہ استعمال کرتے ہوئے اور بعد میں w کو t کا تفاعل لکھ کر t کے لحاظ سے بلاواسطہ تفرق لیتے ہوئے، $\frac{dw}{dt}$ کو t کا تفاعل لکھیں۔ (ب) اس کے بعد t کی دی گئی قیمت پر $\frac{dw}{dt}$ کی قیمت تلاش کریں۔

سوال ۱۳.۲۴۸: $w = x^2 + y^2, \quad x = \cos t, \quad y = \sin t; \quad t = \pi$

سوال ۱۳.۲۴۹: $w = x^2 + y^2, \quad x = \cos t + \sin t, \quad y = \cos t - \sin t; \quad t = 0$

سوال ۱۳.۲۵۰: $w = \frac{x}{z} + \frac{y}{z}, \quad x = \cos^2 t, \quad y = \sin^2 t, \quad z = \frac{1}{t}; \quad t = 3$

سوال ۱۳.۲۵۱: $w = \ln(x^2 + y^2 + z^2), \quad x = \cos t, \quad y = \sin t, \quad z = 4\sqrt{t}, \quad t = 3$

سوال ۱۳.۲۵۲: $w = 2ye^x - \ln z, \quad x = \ln(t^2 + 1), \quad y = \tan^{-1} t, \quad z = e^t; \quad t = 1$

سوال ۱۳.۲۵۳: $w = z - \sin xy, \quad x = t, \quad y = \ln t, \quad z = e^{t-1}; \quad t = 1$

زنجیری قاعدہ: دو اور تین غیر تابع متغیرات

سوال ۱۳.۲۵۴ اور سوال ۱۳.۲۵۵ میں (ا) $\frac{\partial z}{\partial r}$ اور $\frac{\partial z}{\partial \theta}$ کو r اور θ کی صورت میں (پہلے) زنجیری قاعدہ استعمال کرتے ہوئے اور (بعد میں) z کو r اور θ کا تفاعل لکھ کر بلاواسطہ تفرق لیتے ہوئے لکھیں۔ (ب) اس کے بعد دیے گئے نقطہ (r, θ) پر $\frac{\partial z}{\partial r}$ اور $\frac{\partial z}{\partial \theta}$ کی قیمتیں تلاش کریں۔

سوال ۱۳.۲۵۴: $z = 4e^x \ln y,\ x = \ln(r\cos\theta),\ y = r\sin\theta;\ (r, \theta) = (2, \frac{\pi}{4})$

سوال ۱۳.۲۵۵: $z = \tan^{-1} \frac{x}{y},\ x = r\cos\theta,\ y = r\sin\theta;\ (r, \theta) = (1.3, \frac{\pi}{6})$

سوال ۱۳.۲۵۶ اور سوال ۱۳.۲۵۷ میں (ا) $\frac{\partial w}{\partial u}$ اور $\frac{\partial w}{\partial v}$ کو u اور v کی صورت میں (پہلے) زنجیری قاعدہ استعمال کرتے ہوئے اور (بعد میں) w کو u اور v کا تفاعل لکھ کر بلاواسطہ تفرق لیتے ہوئے لکھیں۔ (ب) اس کے بعد دیے گئے نقطہ (u, v) پر $\frac{\partial w}{\partial u}$ اور $\frac{\partial w}{\partial v}$ کی قیمتیں تلاش کریں۔

سوال ۱۳.۲۵۶: $w = xy + yz + xz,\ x = u + v,\ y = u - v,\ z = uv;\ (u, v) = (\frac{1}{2}, 1)$

سوال ۱۳.۲۵۷: $w = \ln(x^2 + y^2 + z^2),\ x = ue^v \sin u,\ y = ue^v \cos u,$
$z = ue^v;\ (u, v) = (-2, 0)$

سوال ۱۳.۲۵۸ اور سوال ۱۳.۲۵۹ میں (ا) $\frac{\partial u}{\partial x}$، $\frac{\partial u}{\partial y}$ اور $\frac{\partial u}{\partial z}$ کو x، y اور z کی صورت میں (پہلے) زنجیری قاعدہ استعمال کرتے ہوئے اور (بعد میں) u کو x، y اور z کا تفاعل لکھ کر بلاواسطہ تفرق لیتے ہوئے لکھیں۔ (ب) اس کے بعد دیے گئے نقطہ (x, y, z) پر $\frac{\partial u}{\partial x}$، $\frac{\partial u}{\partial y}$ اور $\frac{\partial u}{\partial z}$ کی قیمتیں تلاش کریں۔

سوال ۱۳.۲۵۸: $u = \frac{p-q}{q-r},\ p = x + y + z,\ q = x - y + z,\ r = x + y - z;\ (x, y, z) = (\sqrt{3}, 2, 1)$

سوال ۱۳.۲۵۹: $u = e^{qr} \sin^{-1} p,\ p = \sin x,\ q = z^2 \ln y,\ r = \frac{1}{z};\ (x, y, z) = (\frac{\pi}{4}, \frac{1}{2}, -\frac{1}{2})$

شجرہ کا استعمال

سوال ۱۳.۲۶۰ تا سوال ۱۳.۲۷۱ میں شکل شجرہ بناتے ہوئے ہر ایک تفرق کا کلیہ اخذ کریں۔

سوال ۱۳.۲۶۰: $\frac{\mathrm{d}z}{\mathrm{d}t}$ ؛ $z = f(x,y)$ ، $x = g(t)$ ، $y = h(t)$

سوال ۱۳.۲۶۱: $\frac{\mathrm{d}z}{\mathrm{d}t}$ ؛ $z = f(u,v,w)$ ، $u = g(t)$ ، $v = h(t)$ ، $w = k(t)$

سوال ۱۳.۲۶۲: $\frac{\partial w}{\partial u}$ ، $\frac{\partial w}{\partial v}$ ؛ $w = h(x,y,z)$ ، $x = f(u,v)$ ، $y = g(u,v)$ ، $z = k(u,v)$

سوال ۱۳.۲۶۳: $\frac{\partial w}{\partial x}$ ، $\frac{\partial w}{\partial y}$ ؛ $w = f(r,s,t)$ ، $r = g(x,y)$ ، $s = h(x,y)$ ، $t = k(x,y)$

سوال ۱۳.۲۶۴: $\frac{\partial w}{\partial u}$ ، $\frac{\partial w}{\partial v}$ ؛ $w = g(x,y)$ ، $x = h(u,v)$ ، $y = k(u,v)$

سوال ۱۳.۲۶۵: $\frac{\partial w}{\partial x}$ ، $\frac{\partial w}{\partial y}$ ؛ $w = g(u,v)$ ، $u = h(x,y)$ ، $v = k(x,y)$

سوال ۱۳.۲۶۶: $\frac{\partial z}{\partial t}$ ، $\frac{\partial z}{\partial s}$ ؛ $z = f(x,y)$ ، $x = g(t,s)$ ، $y = h(t,s)$

سوال ۱۳.۲۶۷: $\frac{\partial y}{\partial r}$ ؛ $y = f(u)$ ، $u = g(r,s)$

سوال ۱۳.۲۶۸: $\frac{\partial w}{\partial s}$ ، $\frac{\partial w}{\partial t}$ ؛ $w = g(u)$ ، $u = h(s,t)$

سوال ۱۳.۲۶۹: $\frac{\partial w}{\partial p}$ ؛ $w = f(x,y,z,v)$ ، $x = g(p,q)$ ، $y = h(p,q)$ ، $z = j(p,q)$ ، $v = k(p,q)$

سوال ۱۳.۲۷۰: $\frac{\partial w}{\partial r}$ ، $\frac{\partial w}{\partial s}$ ؛ $w = f(x,y)$ ، $x = g(r)$ ، $y = h(s)$

سوال ۱۳.۲۷۱: $\frac{\partial w}{\partial s}$ ؛ $w = g(x,y)$ ، $x = h(r,s,t)$ ، $y = k(r,s,t)$

خفی تفرق

سوال ۱۳.۲۷۲ تا سوال ۱۳.۲۷۵ میں تصور کریں کہ دی گئی مساوات y کو غیر تابع متغیر x کا قابل تفرق تفاعل پیش کرتی ہے۔ دیے گئے نقطہ پر مساوات ۱۰ کی مدد سے $\frac{\mathrm{d}y}{\mathrm{d}x}$ کی قیمت تلاش کریں۔

سوال ۱۳.۲۷۲: $x^3 - 2y^2 + xy = 0, \quad (1,1)$

سوال ۱۳.۲۷۳: $xy + y^2 - 3x - 3 = 0, \quad (-1,1)$

سوال ۱۳.۲۷۴: $x^2 + xy + y^2 - 7 = 0, \quad (1,2)$

سوال ۱۳.۲۷۵: $xe^y + \sin xy + y - \ln 2 = 0, \quad (0, \ln 2)$

ہم تین یا اس سے زیادہ متغیرات کے تفاعل کے لئے مساوات ۱۰ کی موزوں صورتیں لکھ سکتے ہیں۔ تین متغیرات کے تفاعل کے لئے کچھ یوں ہوگا:

اگر مساوات $F(x,y,z)=0$ تابع متغیر z کو غیر تابع متغیرات x ، y کی صورت میں پیش کرتی ہو تب جن نقطوں پر $F_z \neq 0$ ہو وہاں درج ذیل ہوں گے:

$$\frac{\partial z}{\partial x}=-\frac{F_x}{F_z},\quad \frac{\partial z}{\partial y}=-\frac{F_y}{F_z} \tag{۱۲}$$

اس مساوات کو استعمال کرتے ہوئے سوال ۱۳.۲۷۶ تا سوال ۱۳.۲۷۹ میں دیے گئے نقطہ پر $\frac{\partial z}{\partial x}$ اور $\frac{\partial z}{\partial y}$ کی قیمتیں تلاش کریں۔

سوال ۱۳.۲۷۶: $z^3-xy+yz+y^3-2=0,\quad (1,1,1)$

سوال ۱۳.۲۷۷: $\frac{1}{x}+\frac{1}{y}+\frac{1}{z}-1=0,\quad (2,3,6)$

سوال ۱۳.۲۷۸: $\sin(x+y)+\sin(y+z)+\sin(x+z)=0,\quad (\pi,\pi,\pi)$

سوال ۱۳.۲۷۹: $xe^y+ye^z+2\ln x-2-3\ln 2=0,\quad (1,\ln 2,\ln 3)$

منتخب جزوی تفرقات

سوال ۱۳.۲۸۰: $w=(x+y+z)^2$ ، $x=r-s$ ، $y=\cos(r+s)$ اور $z=\sin(r+s)$ لیتے ہوئے $r=1$ ، $s=-1$ پر $\frac{\partial w}{\partial r}$ تلاش کریں۔

سوال ۱۳.۲۸۱: $w=xy+\ln z$ ، $x=\frac{v^2}{u}$ ، $y=u+v$ اور $z=\cos u$ لیتے ہوئے $u=-1$ ، $v=2$ پر $\frac{\partial w}{\partial v}$ تلاش کریں۔

سوال ۱۳.۲۸۲: $w=x^2+\frac{y}{x}$ ، $x=u-2v+1$ اور $y=2u+v-2$ لیتے ہوئے $u=0$ ، $v=0$ پر $\frac{\partial w}{\partial v}$ تلاش کریں۔

سوال ۱۳.۲۸۳: $z=\sin xy+x\sin y$ ، $x=u^2+v^2$ اور $y=uv$ لیتے ہوئے $u=0$ ، $v=1$ پر $\frac{\partial z}{\partial u}$ تلاش کریں۔

سوال ۱۳.۲۸۴: $z=5\tan^{-1}x$ اور $x=e^u+\ln v$ لیتے ہوئے $u=\ln 2$ ، $v=1$ پر $\frac{\partial z}{\partial u}$ اور $\frac{\partial z}{\partial v}$ تلاش کریں۔

سوال ۱۳.۲۸۵: $z=\ln q$ اور $q=\sqrt{v+3}\tan^{-1}u$ لیتے ہوئے $u=1$ ، $v=-2$ پر $\frac{\partial z}{\partial u}$ اور $\frac{\partial z}{\partial v}$ تلاش کریں۔

نظریہ اور مثالیں

سوال ۱۳.۲۸۶: دور میں برقی دباو کی تبدیلی

ایک برقی دور جو $V=IR$ کو مطمئن کرتا ہو میں بیٹری کمزور پڑنے سے برقی دباو V آہستہ آہستہ گھٹتا ہے۔ ساتھ ہی ساتھ مزاحمت گرم ہونے کی وجہ سے بڑھتا ہے۔ درج ذیل مساوات استعمال کرتے ہوئے اس لمحہ پر برقی رو کی شرح تبدیلی دریافت کریں جب $R=600\,\Omega$ ، $I=0.04\,\mathrm{A}$ ، $\frac{\mathrm{d}R}{\mathrm{d}t}=0.5\,\Omega\,\mathrm{s}^{-1}$ اور $\frac{\mathrm{d}V}{\mathrm{d}t}=-0.01\,\mathrm{V\,s}^{-1}$ ہوں۔

$$\frac{\mathrm{d}V}{\mathrm{d}t}=\frac{\partial V}{\partial I}\frac{\mathrm{d}I}{\mathrm{d}t}+\frac{\partial V}{\partial R}\frac{\mathrm{d}R}{\mathrm{d}t}$$

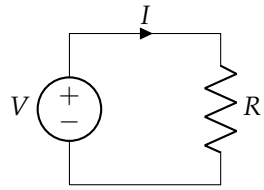

سوال ۱۳.۲۸۷: ایک ڈبے کی اضلاع کی تبدیلی

ایک مستطیل ڈبے کے اضلاع a ، b اور c وقت کے ساتھ تبدیل ہو رہے ہیں۔ اس ڈبے کا حجم اور سطحی رقبہ کس شرح سے اس لمحہ تبدیل ہوں گے جب $a = 1\,\mathrm{m}$ ، $b = 2\,\mathrm{m}$ ، $c = 3\,\mathrm{m}$ ، $\frac{\mathrm{d}a}{\mathrm{d}t} = \frac{\mathrm{d}b}{\mathrm{d}t} = 1\,\mathrm{m\,s^{-1}}$ اور $\frac{\mathrm{d}c}{\mathrm{d}t} = -3\,\mathrm{m\,s^{-1}}$ ہوں؟ کیا اس لمحہ پر ڈبے کے اندرونی وتروں کی لمبائیاں بڑھ رہی ہیں یا گھٹ رہی ہیں؟

سوال ۱۳.۲۸۸: اگر $f(u,v,w)$ قابل تفرق ہو اور $u = x - y$ ، $v = y - z$ اور $w = z - x$ ہوں تب دکھائیں کہ درج ذیل ہو گا۔

$$\frac{\partial f}{\partial x} + \frac{\partial f}{\partial y} + \frac{\partial f}{\partial z} = 0$$

سوال ۱۳.۲۸۹: (ا) دکھائیں کہ قابل تفرق تفاعل $w = f(x,y)$ میں قطبی محدد $x = r\cos\theta$ اور $y = r\sin\theta$ پر کر کے درج ذیل حاصل کیے جا سکتے ہیں۔

$$\frac{\partial w}{\partial r} = f_x \cos\theta + f_y \sin\theta, \quad \frac{1}{r}\frac{\partial w}{\partial \theta} = -f_x \sin\theta + f_y \cos\theta$$

(ب) جزو-ا میں دی گئی مساواتوں کو حل کرتے ہوئے f_x اور f_y کو $\frac{\partial w}{\partial r}$ اور $\frac{\partial w}{\partial \theta}$ کی صورت میں لکھیں۔ (ج) درج ذیل دکھائیں۔

$$(f_x)^2 + (f_y)^2 = \left(\frac{\partial w}{\partial r}\right)^2 + \frac{1}{r^2}\left(\frac{\partial w}{\partial \theta}\right)^2$$

سوال ۱۳.۲۹۰: اگر $w = f(u,v)$ مساوات لاپلاس $f_{uu} + f_{vv} = 0$ کو مطمئن کرتا ہو اور $u = \frac{x^2 - y^2}{2}$ اور $v = xy$ ہوں تب دکھائیں کہ w مساوات لاپلاس $w_{xx} + w_{yy} = 0$ کو بھی مطمئن کرے گا۔

سوال ۱۳.۲۹۱: فرض کریں $w = f(u) + g(v)$ ہے جہاں $u = x + iy$ ، $v = x - iy$ اور $i = \sqrt{-1}$ ہیں۔ دکھائیں کہ w مساوات لاپلاس $w_{xx} + w_{yy} = 0$ کو مطمئن کرتا ہے، بشرطیکہ تمام درکار تفاعل قابل تفرق ہوں۔

منحنی پر چلتے ہوئے تفاعل کی قیمت میں تبدیلی

سوال ۱۳.۲۹۲: فرض کریں پیچدار منحنی $x = \cos t,\ y = \sin t,\ z = t$ پر پائے جانے والے نقطوں پر تفاعل $f(x,y,z)$ کے جزوی تفرقات درج ذیل ہیں۔

$$f_x = \cos t, \quad f_y = \sin t, \quad f_z = t^2 + t - 2$$

۲۱۰۲۰ اس منحنی پر، کس نقطوں پر (اگر ایسا ہو) f کی انتہائی قیمتیں ہوں گی؟

۲۱۰۲۱ سوال ۱۳.۲۹۳: تفاعل $w = x^2e^{2y}\cos 3z$ لیتے ہوئے دائرہ $x = \cos t,\ y = \ln(t+2),\ z = t,$ کے نقطہ
۲۱۰۲۲ $(1, \ln 2, 0)$ پر $\frac{\mathrm{d}w}{\mathrm{d}t}$ تلاش کریں۔

۲۱۰۲۳ سوال ۱۳.۲۹۴: دائرہ $x = \cos t,\ y = \sin t,\ 0 \le t \le 2\pi$ کے نقطہ (x, y) پر درجہ حرارت $T = f(x, y)$ لیں
۲۱۰۲۴ اور درج ذیل فرض کریں۔

$$\frac{\partial T}{\partial x} = 8x - 4y, \quad \frac{\partial T}{\partial y} = 8y - 4x$$

۲۱۰۲۵ ا. تفرقات $\frac{\mathrm{d}T}{\mathrm{d}t}$ اور $\frac{\mathrm{d}^2T}{\mathrm{d}t^2}$ کو دیکھ کر بتائیں کہ اس دائرہ پر کہاں زیادہ سے زیادہ اور کہاں کم سے کم درجہ حرارت ہو گا۔

۲۱۰۲۶ ب. حرارت $T = 4x^2 - 4xy + 4y^2$ لیتے ہوئے دائرہ پر زیادہ سے زیادہ اور کم سے کم T تلاش کریں۔

۲۱۰۲۷ سوال ۱۳.۲۹۵: درج ذیل ترخیم کے نقطہ (x, y) پر درجہ حرارت $T = g(x, y)$ لیں۔

$$x = 2\sqrt{2}\cos t, \quad y = \sqrt{2}\sin t, \quad 0 \le t \le 2\pi$$

۲۱۰۲۸ مزید درج ذیل فرض کریں۔

$$\frac{\partial T}{\partial x} = y, \quad \frac{\partial T}{\partial y} = x$$

۲۱۰۲۹ ا. تفرقات $\frac{\mathrm{d}T}{\mathrm{d}t}$ اور $\frac{\mathrm{d}^2T}{\mathrm{d}t^2}$ کو دیکھ کر بتائیں ترخیم پر کہاں زیادہ سے زیادہ اور کہاں کم سے کم T ہو گا۔

۲۱۰۳۰ ب. حرارت $T = xy - 2$ لیتے ہوئے ترسیم کر کہاں زیادہ سے زیادہ اور کم سے کم T ہو گا؟

۲۱۰۳۱ **تکملات کے تفرقات**

۲۱۰۳۲ استمرار کی نرم شرائط پر پورا کرتے ہوئے اگر

$$F(x) = \int_a^b g(t, x)\,\mathrm{d}t$$

۲۱۰۳۳ ہو تب $F'(x) = \int_a^b g_x(t, x)\,\mathrm{d}t$ ہو گا۔ اس حقیقت کو اور زنجیری قاعدہ کو استعمال کرتے ہوئے ہم

$$F(x) = \int_a^{f(x)} g(t, x)\,\mathrm{d}t$$

۲۱۰۳۴ کا تفرق درج ذیل لے کر حاصل کر سکتے ہیں جہاں $u = f(x)$ ہو گا۔

$$G(u, x) = \int_a^u g(t, x)\,\mathrm{d}t$$

سوال ۱۳.۲۹۶ اور سوال ۱۳.۲۹۷ میں تفاعل کے تفرق تلاش کریں۔

سوال ۱۳.۲۹۶: $F(x) = \int_0^{x^2} \sqrt{t^4 + x^3}\, \mathrm{d}t$

سوال ۱۳.۲۹۷: $F(x) = \int_{x^2}^{1} \sqrt{t^3 + x^2}\, \mathrm{d}t$

۱۳.۶ پابند متغیرات کے تفاعل کے جزوی تفرق

اب تک تفاعل، مثلاً $w = f(x, y)$، کے جزوی تفرقات تلاش کرتے ہوئے ہم x اور y کو بالکل آزاد غیر تابع متغیرات تصور کرتے رہے ہیں، اگرچہ عملی زندگی میں ضروری نہیں کہ ایسا ہو۔ مثال کے طور پر ہم گیس کی اندرونی توانائی U کو دباو P، حجم H اور حرارت T کا تفاعل $U = f(P, H, T)$ لکھ سکتے ہیں۔ اگر گیس کے انفرادی مالیکیول ایک دوسرے پر اثر انداز نہ ہوں تب P، H اور T مثالی گیس کے قانون

$$PH = nRT \qquad n, R \text{ مستقل ہیں}$$

کو مطمئن کریں گے لہٰذا یہ متغیرات بالکل آزاد ہر گز نہیں ہوں گے۔ ایسی صورت میں جزوی تفرقات کی تلاش پیچیدہ ثابت ہوتے ہیں۔ بہر حال ان سے نمٹنا ضروری ہے۔

فیصلہ کریں کہ کون سے متغیرات غیر تابع اور کون سے تابع ہیں

اگر تفاعل $w = f(x, y, z)$ کے متغیرات کسی تعلق، مثلاً $z = x^2 + y^2$، کے پابند ہوں تب f کے جزوی تفرقات کی جیومیٹریائی معنی اور عددی قیمت اس پر منحصر ہوں گے کہ کن متغیرات کو غیر تابع اور کن کو تابع متغیرات تصور کیا جاتا ہے۔ اس انتخاب کے اثرات کو دیکھنے کی خاطر آئیں $w = x^2 + y^2 + z^2$ اور $z = x^2 + y^2$ کی صورت میں $\frac{\partial w}{\partial x}$ تلاش کریں۔

مثال ۱۳.۳۷: تفاعل $w = x^2 + y^2 + z^2$ اور متغیرات کو پابند کرنے والی مساوات $z = x^2 + y^2$ کی صورت میں $\frac{\partial w}{\partial x}$ تلاش کریں۔

حل: ہمیں چار متغیرات کی دو مساوات دی گئی ہیں جنہیں ہم دو (تابع) متغیرات کے لئے باقی (غیر تابع) متغیرات کی صورت میں حل کر سکتے ہیں۔ جب ہمیں $\frac{\partial w}{\partial x}$ تلاش کرنے کو کہا جائے، اس کا مطلب ہے کہ w تابع متغیر اور x تابع متغیر ہے۔ یوں ہمارے پاس تابع اور غیر تابع متغیرات منتخب کرنے کے درج ذیل ممکنات ہیں۔

تابع	غیر تابع
w, z	x, y
w, y	x, z

ہم دونوں صورتوں میں w کو منتخب غیر تابع متغیرات کی صورت میں صریحاً لکھ سکتے ہیں۔ ایسا کرنے کی خاطر ہم دوسری مساوات استعمال کرتے ہوئے پہلی مساوات کا دوسرا تابع متغیر حذف کرتے ہیں۔

۲۱۰۵۸ پہلی انتخاب میں z دوسرا تابع متغیر ہو گا۔ ہم پہلی مساوات میں اس کی جگہ x^2+y^2 پر کر کے اس کو حذف کرتے ہیں۔ یوں

$$\begin{aligned} w &= x^2+y^2+z^2 = x^2+y^2+(x^+y^2)^2 \\ &= x^2+y^2+x^4+2x^2y^2+y^4 \end{aligned}$$

۲۱۰۵۹ حاصل ہو گا جس سے

$$\frac{\partial w}{\partial x} = 2x+4x^3+4xy^2 \tag{۱}$$

۲۱۰۶۰ حاصل ہو گا جو x اور y غیر تابع متغیرات لیتے ہوئے $\frac{\partial w}{\partial x}$ کی مساوات ہے۔

۲۱۰۶۱ دوسری انتخاب میں غیر تابع متغیرات x اور z ہیں جبکہ دوسرا تابع تغیر y ہے۔ یوں y حذف کرنے کی خاطر ہم پہلی مساوات میں y^2 کی جگہ
۲۱۰۶۲ $z-x^2$ پر کر کے

$$w = x^2+y^2+z^2 = x^2+(z-x^2)+z^2 = z+z^2$$

$$\frac{\partial w}{\partial x} = 0 \tag{۲}$$

۲۱۰۶۳ حاصل کرتے ہیں۔ یوں غیر تابع متغیرات x اور z منتخب کرنے سے $\frac{\partial w}{\partial x}=0$ حاصل ہوتا ہے۔

۲۱۰۶۴ مساوات ۱ اور مساوات ۲ ایک دوسرے سے بالکل مختلف ہیں۔ ہم $z = x^2+y^2$ استعمال کرتے ہوئے ایک سے دوسری مساوات حاصل نہیں کر
۲۱۰۶۵ سکتے ہیں۔ یوں ہمارے پاس ایک $\frac{\partial w}{\partial x}$ کے بجائے دو نتائج موجود ہیں۔ ہم دیکھتے ہیں کہ ہمیں پوری معلومات فراہم کیے بغیر جزوی تفرق حاصل کرنے کو کہا
۲۱۰۶۶ گیا۔ ہمیں پوچھنا ہو گا کہ کونسا $\frac{\partial w}{\partial x}$ درکار ہے؟

۲۱۰۶۷ ہم مساوات ۱ اور مساوات ۲ کی جیومیٹریائی (شکل ۱۳.۴۳) مطلب کو دیکھ کر جان سکتے ہیں کہ یہ جوابات ایک دوسرے سے مختلف کیوں ہیں۔ تفاعل
۲۱۰۶۸ $w = x^2+y^2+z^2$ مبدا سے نقطہ (x,y,z) کا فاصلہ ناپتا ہے۔ شرط $z = x^2+y^2$ کہتا ہے کہ نقطہ (x,y,z) قطع مکافی کے
۲۱۰۶۹ جسم طواف پر پایا جاتا ہے۔ صرف اس سطح پر چلتے ہوئے نقطہ $N(x,y,z)$ پر $\frac{\partial w}{\partial x}$ سے کیا مراد ہے؟ مثال کے طور پر نقطہ $(1,0,1)$ پر $\frac{\partial w}{\partial x}$ کی کیا
۲۱۰۷۰ قیمت ہو گی؟

۲۱۰۷۱ اگر ہم x اور y کو غیر تابع متغیرات لیں تب ہم y کو مستقل (موجودہ صورت میں $y=0$) تصور کرتے ہوئے x تبدیل کرتے ہوئے $\frac{\partial w}{\partial x}$ تلاش
۲۱۰۷۲ کرتے ہیں۔ اس کا مطلب ہے کہ N مستوی xz میں قطع مکافی $z=x^2$ پر حرکت کرے گا۔ اس قطع مکافی پر چلتے ہوئے، w جو مبدا سے N تک
۲۱۰۷۳ فاصلے کا مربع ہے تبدیل ہو گا۔ ہم ایسی صورت میں درج ذیل حاصل کرتے ہیں (جو مذکورہ بالا پہلا نتیجہ ہے۔)

$$\frac{\partial w}{\partial x} = 2x+4x^3+4xy^2$$

۲۱۰۷۴ نقطہ $(1,0,1)$ پر اس کی قیمت درج ذیل ہو گی۔

$$\frac{\partial w}{\partial x} = 2+4+0 = 6$$

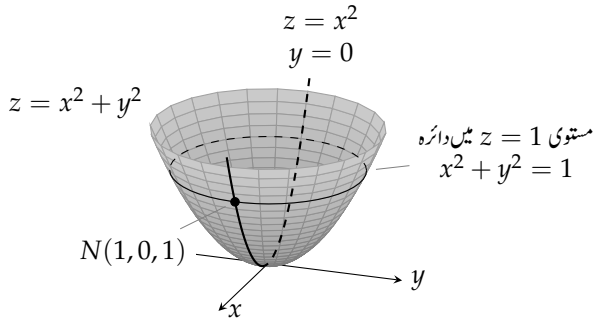

شکل ۱۳.۴۳: نقطہ N کو پابند کرنے سے جزوی تفرقات کے مختلف نتائج حاصل ہوں گے۔

اگر ہم x اور z کو غیر تابع متغیرات منتخب کریں تب ہم z کو مستقل ٹھہراتے ہوئے x تبدیل کر کے $\frac{\partial w}{\partial x}$ تلاش کرتے ہیں۔ چونکہ N کا z محدد 1 ہے لہٰذا x تبدیل کرنے سے N مستوی $z = 1$ میں ایک دائرہ پر حرکت کرے گا۔ اس دائرہ پر چلتے ہوئے مبدا سے N تک فاصلہ تبدیل نہیں ہوتا ہے لہٰذا w جو اس فاصلے کا مربع ہے بھی تبدیل نہیں ہو گا۔ یوں

$$\frac{\partial w}{\partial x} = 0$$

ہو گا جو دوسرا انتخاب کرتے ہوئے ہم حاصل کر چکے ہیں۔ □

جزوی تفرق $\frac{\partial w}{\partial x}$ جب تفاعل $w = f(x, y, z)$

کے متغیرات کو دوسری مساوات قابو کرتی ہو جیسا ہم نے مساوات ۱۳.۳۷ میں دیکھا، جب تفاعل $w = f(x, y, z)$ کے متغیرات کو ایک دوسری مساوات قابو کرتی ہو تب $\frac{\partial w}{\partial x}$ تین قدموں میں حاصل ہو گا۔ یہ اقدام $\frac{\partial w}{\partial y}$ اور $\frac{\partial w}{\partial z}$ کے حصول کے لئے بھی کارآمد ہوں گے۔

۱. پہلے فیصلہ کریں کہ کون سے متغیرات تابع اور کون سے غیر تابع تصور کئے جائیں گے۔ (حقیقت میں ایسا فیصلہ طبیعی یا نظریاتی سیاق و سباق پر منحصر ہو گا۔)

۲. باقی تابع متغیرات کو w کی مساوات سے خارج کریں۔

۳. تفرق کو معمول کے مطابق حاصل کریں۔

اگر دوسرے قدم پر ہم باقی تابع متغیرات کو حذف نہ کر سکیں تب ہم دونوں مساوات کا تفرق لے کر $\frac{\partial w}{\partial x}$ کے لئے حل کرنے کی کوشش کرتے ہیں۔ اگلی مثال میں ایسا کرنا دکھایا گیا ہے۔

مثال ۱۳.۳۸: اگر درج ذیل ہوں تب نقطہ $(x, y, z) = (2, -1, 1)$ پر $\frac{\partial w}{\partial x}$ کیا ہو گا؟

$$w = x^2 + y^2 + z^2, \quad z^3 - xy + yz + y^3 = 1$$

۲۱۰۸۸ حل: یہاں w کی مساوات سے z حذف کرنا آسان نہیں ہے۔ ہم اس لئے x اور y کو غیر تابع متغیرات جبکہ w اور z کو تابع متغیرات تصور
۲۱۰۸۹ کرتے ہوئے دونوں مساوات کا x کے لحاظ سے تفرق لیتے ہیں۔ یوں

$$\frac{\partial w}{\partial x} = 2x + 2z\frac{\partial z}{\partial x} \tag{۳}$$

۲۱۰۹۰ اور

$$3z^2\frac{\partial z}{\partial x} - y + y\frac{\partial z}{\partial x} + 0 = 0 \tag{۴}$$

۲۱۰۹۱ حاصل ہوں گے۔ ان مساوات کو ملا کر x ، y اور z کی صورت میں $\frac{\partial w}{\partial x}$ کے لئے حل کرتے ہیں۔ ہم مساوات ۴ کو $\frac{\partial z}{\partial x}$ کے لئے حل کر کے

$$\frac{\partial z}{\partial x} = \frac{y}{y+3z^2}$$

۲۱۰۹۲ حاصل کرتے ہیں جس کو مساوات ۳ میں پر کرنے سے درج ذیل حاصل ہو گا۔

$$\left(\frac{\partial w}{\partial x}\right)_{(2,-1,1)} = 2(2) + \frac{2(-1)(1)}{-1+3(1)^2} = 4 + \frac{-2}{2} = 3$$

۲۱۰۹۳ □

۲۱۰۹۴ تفرق کے حصول میں غیر تابع متغیرات واضح کرنے کی خاطر ہم درج ذیل علامتیت استعمال کرتے ہیں۔

۲۱۰۹۵ $\left(\frac{\partial w}{\partial x}\right)_y$ $\frac{\partial w}{\partial x}$ جہاں x اور y غیر تابع ہیں۔

۲۱۰۹۶ $\left(\frac{\partial f}{\partial x}\right)_{x,t}$ $\frac{\partial f}{\partial x}$ جہاں y ، x اور t غیر تابع ہیں۔

۲۱۰۹۷ مثال ۱۳.۳۹: جزوی تفرق $\left(\frac{\partial w}{\partial x}\right)_{y,z}$ تلاش کریں جہاں $w = x^2 + y - z + \sin t$ اور $x + y = t$ ہیں۔

۲۱۰۹۸ حل: متغیرات x ، y اور z کو غیر تابع لیتے ہوئے درج ذیل حاصل ہو گا۔

$$\begin{aligned} t &= x + y, \quad w = x^2 + y - z + \sin(x+y) \\ \left(\frac{\partial w}{\partial x}\right)_{y,z} &= 2x + 0 - 0 + \cos(x+y)\frac{\partial}{\partial x}(x+y) \\ &= 2x + \cos(x+y) \end{aligned}$$

۲۱۰۹۹ □

تیر دار اشکال

مثال ۱۳.۳۹ کی طرح مسائل حل کرتے ہوئے تیر دار اشکال استعمال کرنا مددگار ثابت ہوتا ہے۔ تیر دار اشکال تفاعل اور متغیرات کے بیچ تعلق دکھاتے ہیں۔ اگر

$$x + y = t \quad \text{اور} \quad w = x * 2 + y - z + \sin t$$

ہوں ہمیں x ، y اور z غیر تابع لیتے ہوئے $\frac{\partial w}{\partial x}$ تلاش کرنے کو کہا جائے تب درکار اشکال درج ذیل ہوں گے:

$$\underbrace{\begin{pmatrix} x \\ y \\ z \end{pmatrix}}_{\text{غیر تابع متغیرات}} \rightarrow \underbrace{\begin{pmatrix} x \\ y \\ z \\ t \end{pmatrix}}_{\text{درمیانے متغیرات اور تعلق}} \rightarrow \underset{\text{تابع متغیر}}{w} \tag{۵}$$

$$\begin{aligned} x &= x \\ y &= y \\ z &= z \\ t &= x + y \end{aligned}$$

اس تیر دار شکل میں غیر تابع متغیرات دائیں ہاتھ، درمیانے متغیرات اور ان کا غیر تابع متغیرات کے ساتھ تعلق درمیان میں اور تابع متغیرات دائیں ہاتھ ہیں۔

جزوی تفرق $\frac{\partial w}{\partial x}$ حاصل کرنے کے لئے ہم چار متغیرات کا زنجیری قاعدہ w پر لاگو کرتے ہیں۔

$$\frac{\partial w}{\partial x} = \frac{\partial w}{\partial x}\frac{\partial x}{\partial x} + \frac{\partial w}{\partial y}\frac{\partial y}{\partial x} + \frac{\partial w}{\partial z}\frac{\partial z}{\partial x} + \frac{\partial w}{\partial t}\frac{\partial t}{\partial x} \tag{۶}$$

اس کلیہ کے دائیں ہاتھ میں w کے جزوی تفرقات کو $w = x^2 + y - z + \sin t$ کے لئے حاصل کر کے اس کلیہ میں پر کرتے ہوئے درج ذیل حاصل کرتے ہیں۔

$$\begin{aligned} \frac{\partial w}{\partial x} &= 2x\frac{\partial x}{\partial x} + (1)\frac{\partial y}{\partial x} + (-1)\frac{\partial z}{\partial x} + \cos t\frac{\partial t}{\partial x} \\ &= 2x\frac{\partial x}{\partial x} + \frac{\partial y}{\partial x} - \frac{\partial z}{\partial x} + \cos t\frac{\partial t}{\partial x} \end{aligned} \tag{۷}$$

باقی جزوی تفرقات حاصل کرنے کے لئے ہم متغیرات کی غیر تابعیت اور تابعیت بروئے کار لاتے ہیں۔ ہم مساوات ۵ سے دیکھتے ہیں کہ x ، y اور z غیر تابع ہیں اور $t = x + y$ ہے۔ یوں

$$\frac{\partial x}{\partial x} = 1, \quad \frac{\partial y}{\partial x} = 0, \quad \frac{\partial z}{\partial x} = 0, \quad \frac{\partial t}{\partial x} = \frac{\partial}{\partial x}(x + y) = (1 + 0) = 1$$

ہو گا۔ ہم انہیں مساوات ۷ میں پر کر کے $\frac{\partial x}{\partial x}$ حاصل کرتے ہیں:

$$\begin{aligned} \left(\frac{\partial x}{\partial x}\right)_{y,z} &= 2x(1) + 0 - 0 + (\cos t)(1) \\ &= 2x + \cos t \\ &= 2x + \cos(x + y) \qquad \text{غیر تابع متغیر کی صورت میں} \end{aligned}$$

سوالات

پابند متغیرات کے تفاعل کے جزوی تفرقات

سوال ۱۳.۲۹۸ تا سوال ۱۳.۳۰۰ میں تیر دار اشکال سے شروع کرتے ہوئے دیے تفرقات تلاش کریں۔

سوال ۱۳.۲۹۸: $w = x^2 + y^2 + z^2, \quad z = x^2 + y^2$

(ا) $\left(\frac{\partial w}{\partial y}\right)_z$ ، (ب) $\left(\frac{\partial w}{\partial z}\right)_x$ ، (ج) $\left(\frac{\partial w}{\partial z}\right)_y$

سوال ۱۳.۲۹۹: $w = x^2 + y - z + \sin t, \quad x + y = t$

(ا) $\left(\frac{\partial w}{\partial y}\right)_{x,z}$ ، (ب) $\left(\frac{\partial w}{\partial y}\right)_{z,t}$ ، (ج) $\left(\frac{\partial w}{\partial z}\right)_{x,y}$ ،

(د) $\left(\frac{\partial w}{\partial z}\right)_{y,t}$ ، (ہ) $\left(\frac{\partial w}{\partial t}\right)_{x,z}$ ، (و) $\left(\frac{\partial w}{\partial t}\right)_{y,z}$ ،

سوال ۱۳.۳۰۰: ایک گیس جو مثالی گیس کے کلیہ $PH = nRT$ پر پورا اترتا ہو، جہاں n ، R مستقل ہیں، کی اندرونی توانائی $U = f(P, H, T)$ ہو گی۔

(ا) $\left(\frac{\partial U}{\partial P}\right)_H$ ، (ب) $\left(\frac{\partial U}{\partial T}\right)_H$

سوال ۱۳.۳۰۱: نقطہ $(x, y, z) = (0, 1, \pi)$ اور $w = x^2 + y^2 + z^2$ ، $y \sin z + z \sin x = 0$ لیں۔ اس نقطہ پر (ا) $\left(\frac{\partial w}{\partial x}\right)_y$ ، (ب) $\left(\frac{\partial w}{\partial z}\right)_y$ تلاش کریں۔

سوال ۱۳.۳۰۲: نقطہ $(w, x, y, z) = (4, 2, 1, -1)$ اور $w = x^2y^2 + yz - z^3$ اور $x^2 + y^2 + z^2 = 6$ لیتے ہوئے اس نقطہ پر (ا) $\left(\frac{\partial w}{\partial y}\right)_x$ ، (ب) $\left(\frac{\partial w}{\partial y}\right)_z$ تلاش کریں۔

سوال ۱۳.۳۰۳: نقطہ $(u, v) = (\sqrt{2}, 1)$ پر $\left(\frac{\partial u}{\partial y}\right)_x$ تلاش کریں جہاں $x = u^2 + v^2$ اور $y = uv$ ہیں۔

سوال ۱۳.۳۰۴: فرض کریں $x^2 + y^2 = r^2$ اور $x = r \cos \theta$ ہیں۔ جزوی تفرقات $\left(\frac{\partial x}{\partial r}\right)_\theta$ اور $\left(\frac{\partial r}{\partial x}\right)_y$ تلاش کریں۔

سوال ۱۳.۳۰۵: فرض کریں $w = x^2 - y^2 + 4z + t$ اور $x + 2z + t = 25$ ہیں۔ دکھائیں کہ مساوات

$$\frac{\partial w}{\partial x} = 2x - 1 \quad \text{اور} \quad \frac{\partial w}{\partial x} = 2x - 2$$

مختلف متغیرات کو تابع اور غیر تابع تصور کرتے ہوئے $\frac{\partial w}{\partial x}$ دیتے ہیں۔ دونوں صورتوں میں غیر تابع متغیرات تلاش کریں۔

بغیر کسی مخصوص کلیہ جزوی تفرقات کا حصول

سوال ۱۳.۳۰۶: ماقواحرکیات کی میدان میں ایک مستقل حقیقت کہتا ہے کہ اگر $f(x, y, z) = 0$ ہو تب

$$\left(\frac{\partial x}{\partial y}\right)_z \left(\frac{\partial y}{\partial z}\right)_x \left(\frac{\partial z}{\partial x}\right)_y = -1$$

ہو گا۔ اس حقیقت کی تصدیق کریں۔ (اشارہ: تمام تفرقات کو باضابطہ جزوی تفرقات $\frac{\partial f}{\partial x}$ ، $\frac{\partial f}{\partial y}$ اور $\frac{\partial f}{\partial z}$ کی صورت میں لکھیں۔)

سوال ۱۳.۳۰۷: اگر $z = x + f(u)$ اور $u = xy$ ہوں تب درج ذیل دکھائیں۔

$$x\frac{\partial z}{\partial x} - y\frac{\partial z}{\partial y} = x$$

سوال ۱۳.۳۰۸: فرض کریں مساوات $g(x, y, z) = 0$ غیر تابع متغیرات x اور y کا قابل تفرق تفاعل z تعین کرتی ہے اور $g_z \neq 0$ ہے۔ درج ذیل دکھائیں۔

$$\left(\frac{\partial z}{\partial y}\right)_x = -\frac{\partial g/\partial y}{\partial g/\partial z}$$

سوال ۱۳.۳۰۹: فرض کریں $f(x, y, z, w) = 0$ اور $g(x, y, z, w) = 0$ غیر تابع متغیرات x اور y کے قابل تفاعل تفاعل z اور w تعین کرتے ہیں۔ مزید

$$\frac{\partial f}{\partial z}\frac{\partial g}{\partial w} - \frac{\partial f}{\partial w}\frac{\partial g}{\partial z} \neq 0$$

فرض کرتے ہوئے درج ذیل دکھائیں۔

$$\left(\frac{\partial z}{\partial x}\right)_y = -\frac{\frac{\partial f}{\partial x}\frac{\partial g}{\partial w} - \frac{\partial f}{\partial w}\frac{\partial g}{\partial x}}{\frac{\partial f}{\partial z}\frac{\partial g}{\partial w} - \frac{\partial f}{\partial w}\frac{\partial g}{\partial z}}$$

$$\left(\frac{\partial w}{\partial y}\right)_x = -\frac{\frac{\partial f}{\partial z}\frac{\partial g}{\partial y} - \frac{\partial f}{\partial y}\frac{\partial g}{\partial z}}{\frac{\partial f}{\partial z}\frac{\partial g}{\partial w} - \frac{\partial f}{\partial w}\frac{\partial g}{\partial z}}$$

۱۳.۷ رخی تفرقات، سمتیہ ڈھلوان، اور مماسی سطحیں

ہم حصہ ۱۳.۵ سے جانتے ہیں کہ قابل تفرق تفاعل $f(x, y)$ منحنی $x = g(t),\ y = h(t)$ کے ساتھ ساتھ چلتے ہوئے t کے لحاظ سے شرح تبدیلی درج ذیل ہو گی۔

$$\frac{\mathrm{d}f}{\mathrm{d}t} = \frac{\partial f}{\partial x}\frac{\mathrm{d}x}{\mathrm{d}t} + \frac{\partial f}{\partial y}\frac{\mathrm{d}y}{\mathrm{d}t}$$

نقطہ $N_0(x_0, y_0) = N_0(g(t_0), h(t_0))$ پر یہ مساوات بڑھتی t کے لحاظ سے f کی شرح تبدیلی دیتی ہے، جو دیگر چیزوں کے ساتھ منحنی پر چلنے کے رخ پر بھی منحصر ہے۔ یہ مشاہدہ اس صورت خصوصاً اہم ہو گا جب یہ منحنی ایک سیدھی لکیر ہو اور نقطہ N_0 سے منحنی پر اکائی سمتیہ $\boldsymbol{u}$ کے رخ چلتے ہوئے مقدار معلوم لمبائی قوس t ہو۔ چونکہ تب $\boldsymbol{u}$ کے رخ f کے دائرہ کار میں فاصلہ کے لحاظ سے f کی شرح تبدیلی $\frac{\mathrm{d}f}{\mathrm{d}t}$ ہو گی۔ ہم $\boldsymbol{u}$

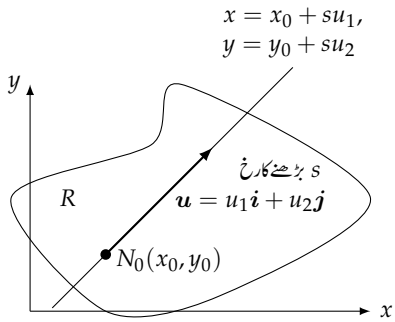

شکل ۱۳.۴۴: نقطہ N_0 پر $\boldsymbol{u}$ کے رخ f کی شرح تبدیلی N_0 پر لکیر کے ساتھ f کی شرح تبدیلی ہو گی۔

تبدیل کرتے ہوئے نقطہ N_0 پر، فاصلہ کے لحاظ سے f کی مختلف رخ میں شرح تبدیلی دریافت کر سکتے ہیں۔ ان **رخی تفرقات**[41] کی سائنس، انجینئری اور ریاضیات میں کارآمد تشریحات کی جاتی ہیں۔ اس حصہ میں ان کی قیمت دریافت کرنے کا کلیہ اخذ کیا جائے گا جس کے بعد فضا میں سطحوں کی مماسی سطحیں اور عمودی سطحیں تلاش کی جائیں گی۔

مستوی میں رخی تفرقات

فرض کریں مستوی xy میں پورے خطہ R میں تفاعل $f(x, y)$ معین ہے، $N_0(x_0, y_0)$ خطہ R میں ایک نقطہ ہے، اور $\boldsymbol{u} = u_1\boldsymbol{i} + u_2\boldsymbol{j}$ ایک اکائی سمتیہ ہے۔ تب $\boldsymbol{u}$ کے متوازی نقطہ N_0 سے گزرتے خط کی مقدار معلوم مساواتیں درج ذیل ہوں گی۔

$$x = x_0 + su_1, \quad y = y_0 + su_2$$

اکائی سمتیہ $\boldsymbol{u}$ کے رخ نقطہ N_0 سے فاصلہ کو مقدار معلوم s سے ظاہر کیا جاتا ہے۔ ہم نقطہ N_0 پر $\boldsymbol{u}$ کے رخ f کی شرح تبدیلی $\frac{\mathrm{d}f}{\mathrm{d}s}$ سے حاصل کرتے ہیں (شکل ۱۳.۴۴)۔

تعریف: نقطہ $N_0(x_0, y_0)$ پر اکائی سمتیہ $\boldsymbol{u} = u_1\boldsymbol{i} + u_2\boldsymbol{j}$ کے رخ f کا تفرق درج ذیل عدد ہو گا

$$\left(\frac{\mathrm{d}f}{\mathrm{d}s}\right)_{\boldsymbol{u},N_0} = \lim_{s\to 0} \frac{f(x_0 + su_1, y_0 + su_2) - f(x_0, y_0)}{s} \tag{1}$$

بشرطیکہ یہ حد موجود ہو۔

□

رخی تفرق کو درج ذیل سے بھی ظاہر کیا جاتا ہے۔

N_0 پر $\boldsymbol{u}$ کے رخ f کا تفرق $\qquad (D_{\boldsymbol{u}}f)_{N_0}$

[41] directionalderivative

مثال ۱۳.۴۰: نقطہ $N_0(1,2)$ پر اکائی سمتیہ $\boldsymbol{u} = \frac{1}{\sqrt{2}}\boldsymbol{i} + \frac{1}{\sqrt{2}}\boldsymbol{j}$ کے رخ درج ذیل کا تفرق تلاش کریں۔

$$f(x,y) = x^2 + xy$$

حل:

مساوات ۱

$$\begin{aligned}
\left(\frac{\mathrm{d}f}{\mathrm{d}s}\right)_{\boldsymbol{u},N_0} &= \lim_{s\to 0}\frac{f(x_0+su_1, y_0+su_2) - f(x_0,y_0)}{s} \\
&= \lim_{s\to 0}\frac{f\left(1+s\cdot\frac{1}{\sqrt{2}}, 2+s\cdot\frac{1}{\sqrt{2}}\right) - f(1,2)}{s} \\
&= \lim_{s\to 0}\frac{\left(1+\frac{s}{\sqrt{2}}\right)^2 + \left(1+\frac{s}{\sqrt{2}}\right)\left(2+\frac{s}{\sqrt{2}}\right) - (1^2+1\cdot 2)}{s} \\
&= \lim_{s\to 0}\frac{\left(1+\frac{2s}{\sqrt{2}}+\frac{s^2}{2}\right) + \left(2+\frac{3s}{\sqrt{2}}+\frac{s^2}{2}\right) - 3}{s} \\
&= \lim_{s\to 0}\frac{\frac{5s}{\sqrt{2}}+s^2}{s} = \lim_{s\to 0}\left(\frac{5}{\sqrt{2}}+s\right) = \left(\frac{5}{\sqrt{2}}+0\right) = \frac{5}{\sqrt{2}}
\end{aligned}$$

نقطہ $N_0(1,2)$ پر $\boldsymbol{u} = \frac{1}{\sqrt{2}}\boldsymbol{i} + \frac{1}{\sqrt{2}}\boldsymbol{j}$ کے رخ $f(x,y) = x^2 + xy$ کی تبدیلی کی شرح $\frac{5}{\sqrt{2}}$ ہے۔ □

رخی تفرق کی جیومیٹریائی تشریح

مساوات $z = f(x,y)$ فضا میں ایک سطح S کو ظاہر کرتی ہے۔ اگر $z_0 = f(x_0,y_0)$ ہو تب نقطہ $N_0(x_0,y_0,z_0)$ سطح S پر واقع ہو گا۔ اکائی سمتیہ $\boldsymbol{u}$ کے متوازی انتصابی مستوی، جو $N(x,y)$ اور $N_0(x_0,y_0)$ سے گزرتا ہو، S کو منحنی C میں قطع کرے گا۔ اکائی سمتیہ $\boldsymbol{u}$ کے رخ f کی شرح تبدیلی N پر C کے مماس کی ڈھلوان ہو گی۔

دھیان رہے کہ جب $\boldsymbol{u} = \boldsymbol{i}$ ہو، N_0 پر رخی تفرق $\frac{\partial f}{\partial x}$ ہو گا جس کی قیمت (x_0,y_0) پر حاصل کی جائے گی۔ اسی طرح جب $\boldsymbol{u} = \boldsymbol{j}$ ہو، N_0 پر رخی تفرق $\frac{\partial f}{\partial y}$ ہو گا جس کی قیمت (x_0,y_0) پر حاصل کی جائے گی۔ رخی تفرق ان دو جزوی تفرقات کو عمومی بناتا ہے۔ ہم اب $\boldsymbol{i}$ اور $\boldsymbol{j}$ کے علاوہ کسی بھی رخ $\boldsymbol{u}$، تفاعل f کی تبدیلی شرح جان سکتے ہیں۔

حساب

جیسا آپ جانتے ہیں، تفرق کی تعریف بطور حد سے کسی بھی تفرق کا حصول اتنا آسان نہیں ہوتا ہے۔ رخی تفرق کی تعریف سے بھی رخی تفرق کا حصول مشکل کام ہے۔ آئیں رخی تفرق کا زیادہ آسان کلیہ اخذ کریں۔ ہم خط

$$x = x_0 + su_1, \quad y = y_0 + su_2 \tag{۲}$$

۲۱۱۷۱ سے شروع کرتے ہیں جو نقطہ $N_0(x_0, y_0)$ سے گزرتے خط کی مقدار معلوم مساوات ہے جس میں اکائی سمتیہ $\boldsymbol{u} = u_1\boldsymbol{i} + u_2\boldsymbol{j}$ کے رخ
۲۱۱۷۲ بڑھتا ہوا s مقدار معلوم لمبائی قوس ہے۔ تب درج ذیل ہو گا۔

$$\begin{aligned}
\left(\frac{\mathrm{d}f}{\mathrm{d}s}\right)_{\boldsymbol{u},N_0} &= \left(\frac{\partial f}{\partial x}\right)_{N_0}\frac{\mathrm{d}x}{\mathrm{d}s} + \left(\frac{\partial f}{\partial y}\right)_{N_0}\frac{\mathrm{d}y}{\mathrm{d}s} && \text{زنجیری قاعدہ} \\
&= \left(\frac{\partial f}{\partial x}\right)_{N_0}\cdot u_1 + \left(\frac{\partial f}{\partial y}\right)_{N_0}\cdot u_2 && \text{مساوات ۲ سے } \frac{\mathrm{d}x}{\mathrm{d}s} = u_1 \text{ اور } \frac{\mathrm{d}y}{\mathrm{d}s} = u_2 \\
&= \underbrace{\left[\left(\frac{\partial f}{\partial x}\right)_{N_0}\boldsymbol{i} + \left(\frac{\partial f}{\partial y}\right)_{N_0}\cdot\boldsymbol{j}\right]}_{N_0 \text{ پر } f \text{ کی ڈھلوان}}\cdot\underbrace{\left[u_1\boldsymbol{i} + u_2\boldsymbol{j}\right]}_{\boldsymbol{u} \text{ کا رخ}} && (۳)
\end{aligned}$$

۲۱۱۷۳ تعریف: نقطہ $N_0(x_0, y_0)$ پر $f(x, y)$ کا سمتیہ ڈھلوان (ڈھلوان) درج ذیل سمتیہ ہو گا

$$\nabla f = \frac{\partial f}{\partial x}\boldsymbol{i} + \frac{\partial f}{\partial y}\boldsymbol{j}$$

۲۱۱۷۴ جس کی قیمت N_0 پر f کے رخی تفرق سے حاصل کی جائے گی۔

۲۱۱۷۵ □

۲۱۱۷۶ سمتی ڈھلوان ∇f کو "ڈھلوان f" پڑھتے ہیں۔ علامت ∇ یونانی حرف "نیبلا" ہے۔

۲۱۱۷۷ مساوات ۳ کہتی ہے کہ N_0 پر $\boldsymbol{u}$ کے رخ f کا تفرق N_0 پر f کی ڈھلوان اور $\boldsymbol{u}$ کا حاصل ضرب ہو گا۔

۲۱۱۷۸ مسئلہ ۱۳.۶: اگر $N_0(x_0, y_0)$ پر $f(x, y)$ کے جزوی تفرقات معین ہوں تب N_0 پر $\boldsymbol{u}$ کے رخ f کا تفرق، N_0 پر f کی ڈھلوان
۲۱۱۷۹ اور $\boldsymbol{u}$ کا غیر سمتی ضرب ہو گا:

$$\left(\frac{\mathrm{d}f}{\mathrm{d}s}\right)_{\boldsymbol{u},N_0} = \left(\nabla\right)_{N_0}\cdot\boldsymbol{u} \qquad (۴)$$

۲۱۱۸۰

۲۱۱۸۱ مثال ۱۳.۴۱: نقطہ $(2, 0)$ پر $\boldsymbol{A} = 3\boldsymbol{i} - 4\boldsymbol{j}$ رخ $f(x, y) = xe^y + \cos(xy)$ کا رخی تفرق تلاش کریں۔

۲۱۱۸۲ حل: ہم $\boldsymbol{A}$ کی لمبائی سے $\boldsymbol{A}$ کو تقسیم کرتے ہوئے $\boldsymbol{A}$ کے رخ اکائی سمتیہ تلاش کرتے ہیں۔

$$\boldsymbol{u} = \frac{\boldsymbol{A}}{|\boldsymbol{A}|} = \frac{\boldsymbol{A}}{5} = \frac{3}{5}\boldsymbol{i} - -\frac{4}{5}\boldsymbol{j}$$

۲۱۱۸۳ نقطہ $(2, 0)$ پر f کے جزوی تفرقات

$$\begin{aligned}
f_x(2, 0) &= \left(e^y - y\sin(xy)\right)_{(2,0)} = e^0 - 0 = 1 \\
f_y(2, 0) &= \left(xe^y - x\sin(xy)\right)_{(2,0)} = 2e^0 - 2\cdot 0 = 2
\end{aligned}$$

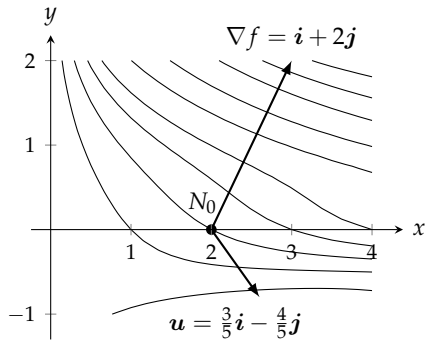

شکل ۱۳.۴۵: روایتی طور پر ∇f کو f کے دائرہ کار میں دکھایا جاتا ہے۔ موجودہ تفاعل کے لئے مکمل مستوی xy دائرہ کار ہو گا۔ سمتیہ $\boldsymbol{u} = \frac{3}{5}\boldsymbol{i} - \frac{4}{5}\boldsymbol{j}$ کے رخ f کی شرح تبدیلی $\nabla f \cdot \boldsymbol{u} = -1$ ہو گی (مثال ۱۳.۴۱)۔

۲۱۱۸۴ ہوں گے لہٰذا نقطہ $(2,0)$ پر f کی ڈھلوان

$$\nabla f\big|_{(2,0)} = f_x(2,0)\boldsymbol{i} + f_y(2,0)\boldsymbol{j} = \boldsymbol{i} + 2\boldsymbol{j}$$

۲۱۱۸۵ ہو گی (شکل ۱۳.۴۵)۔ نقطہ $(2,0)$ پر $\boldsymbol{A}$ رخ f کا تفرق درج ذیل ہو گا۔

$$\begin{aligned}\Big(D_{\boldsymbol{u}} f\Big)\Big|_{(2,0)} &= \nabla f\big|_{(2,0)} \cdot \boldsymbol{u} \\ &= (\boldsymbol{i} + 2\boldsymbol{j}) \cdot \left(\frac{3}{5}\boldsymbol{i} - \frac{4}{5}\boldsymbol{j}\right) = \frac{3}{5} - \frac{8}{5} = -1\end{aligned}$$

۲۱۱۸۶ □

۲۱۱۸۷ **رخی تفرقات کے خواص**

۲۱۱۸۸ رخی تفرق کے کلیہ

$$D_{\boldsymbol{u}} f = \nabla f \cdot \boldsymbol{u} = \big|\nabla f\big|\big|\boldsymbol{u}\big| \cos\theta = \big|\nabla f\big| \cos\theta$$

۲۱۱۸۹ کی قیمت تلاش کرنے سے درج ذیل خواص دریافت ہوتے ہیں:

۲۱۱۹۰ **رخی تفرق $D_{\boldsymbol{u}} f = \nabla f \cdot \boldsymbol{u} = \big|\nabla f\big| \cos\theta$ کے خواص**

۲۱۱۹۱

۲۱۱۹۲ ۱. تفاعل f اس صورت تیز ترین بڑھتا ہے جب $\cos\theta = 1$ ہو، یعنی جب $\boldsymbol{u}$ اور ∇f ایک ہی رخ ہوں۔ اس طرح، اپنے دائرہ کار میں، نقطہ
۲۱۱۹۳ N پر سمتیہ ڈھلوان ∇f کے رخ، f تیز ترین بڑھتا ہے۔ اس رخ تفرق درج ذیل ہو گا۔

$$D_{\boldsymbol{u}} f = \big|\nabla f\big| \cos(0) = \big|\nabla f\big|$$

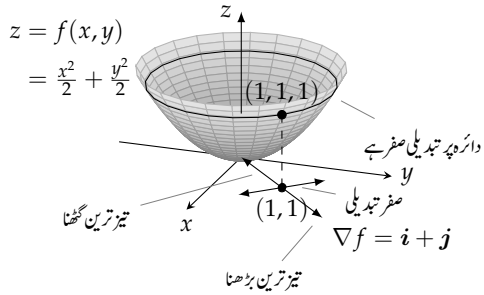

شکل ۱۳.۴۶: نقطہ $(1,1,1)$ پر f تیز ترین ∇f رخ بڑھتا ہے جو سطح پر سیدھا چڑھنے کا مطابق رخ ہے (مثال ۱۳.۴۲)۔

۲۱۱۹۴ ۲. اسی طرح $-\nabla f$ کے رخ f تیز ترین گھٹتا ہے۔ اس رخ تفرق $D_{\boldsymbol{u}} f = |\nabla f| \cos(\pi) = -|\nabla f|$ ہو گا۔

۲۱۱۹۵ ۳. ڈھلوان کے عمودی کسی بھی رخ $\boldsymbol{u}$ کوئی تبدیلی نہیں پائی جائے گی۔ ایسے رخ θ کی قیمت $\frac{\pi}{2}$ ہو گی لہٰذا درج ذیل ہو گا:

$$D_{\boldsymbol{u}} f = |\nabla f| \cos(\pi/2) = |\nabla f| \cdot 0 = 0$$

۲۱۱۹۶ جیسا ہم دیکھیں گے، یہ خواص تین بعدی فضا میں بھی کارآمد ہوں گی۔

۲۱۱۹۷ مثال ۱۳.۴۲: نقطہ $(1,1)$ پر وہ رخ تلاش کریں جس رخ تفاعل $f(x,y) = \frac{x^2}{2} + \frac{y^2}{2}$ (ا) تیز ترین بڑھتا ہو، (ب) تیز ترین گھٹتا ہو،
۲۱۱۹۸ (ج) میں کوئی تبدیلی رونما نہیں ہوتی ہو۔

۲۱۱۹۹ حل: (ا) یہ تفاعل نقطہ $(1,1)$ پر ∇f کے رخ تیز ترین بڑھے گا۔ اس نقطہ پر ڈھلوان

$$(\nabla f)_{(1,1)} = (x\boldsymbol{i} + y\boldsymbol{j})_{(1,1)} = \boldsymbol{i} + \boldsymbol{j}$$

۲۱۲۰۰ ہے لہٰذا تیز ترین بڑھنے کا رخ درج ذیل اکائی سمتیہ دیگا۔

$$\boldsymbol{u} = \frac{\boldsymbol{i} + \boldsymbol{j}}{|\boldsymbol{i} + \boldsymbol{j}|} = \frac{1}{\sqrt{2}}\boldsymbol{i} + \frac{1}{\sqrt{2}}\boldsymbol{j}$$

۲۱۲۰۱ (ب) یہ تفاعل $-\nabla f$ رخ تیز ترین گھٹے گا۔ یہ رخ درج ذیل ہو گا۔

$$-\boldsymbol{u} = -\frac{1}{\sqrt{2}}\boldsymbol{i} - \frac{1}{\sqrt{2}}\boldsymbol{j}$$

۲۱۲۰۲ (ج) نقطہ $(1,1)$ پر صفر تبدیلی کا رخ ∇f کو عمودی ہو گا۔ یہ رخ درج ذیل ہوں گے (شکل ۱۳.۴۶)۔

$$\boldsymbol{n} = -\frac{1}{\sqrt{2}}\boldsymbol{i} + \frac{1}{\sqrt{2}}\boldsymbol{j}, \quad -\boldsymbol{n} = \frac{1}{\sqrt{2}}\boldsymbol{i} - \frac{1}{\sqrt{2}}\boldsymbol{j}$$

۲۱۲۰۳ □

۲۱۲۰۴ **ہم قد منحنی کے ڈھلوان اور مماس**

۲۱۲۰۵ اگر ہموار منحنی $\boldsymbol{r} = g(t)\boldsymbol{i} + h(t)\boldsymbol{j}$ پر قابل تفرق تفاعل $f(x, y)$ کی قیمت مستقل ہو (جس کی وجہ سے یہ منحنی، f کی ہم قد منحنی ہو گی)،
۲۱۲۰۶ تب $f(g(t), h(t)) = 0$ ہو گا۔ دونوں اطراف کا t کے لحاظ سے تفرق درج ذیل مساوات دیگا:

$$\begin{aligned} \frac{\mathrm{d}}{\mathrm{d}t} f(g(t), h(t)) &= \frac{\mathrm{d}}{\mathrm{d}t}(c) \\ \frac{\partial f}{\partial x}\frac{\mathrm{d}g}{\mathrm{d}t} + \frac{\partial f}{\partial y}\frac{\mathrm{d}h}{\mathrm{d}t} &= 0 \qquad \text{زنجیری قاعدہ} \\ \underbrace{\left(\frac{\partial f}{\partial x}\boldsymbol{i} + \frac{\partial f}{\partial y}\boldsymbol{j}\right)}_{\nabla f} \cdot \underbrace{\left(\frac{\mathrm{d}g}{\mathrm{d}t}\boldsymbol{i} + \frac{\mathrm{d}h}{\mathrm{d}t}\boldsymbol{j}\right)}_{\frac{\mathrm{d}\boldsymbol{r}}{\mathrm{d}t}} &= 0 \end{aligned} \tag{۵}$$

۲۱۲۰۷ مساوات ۵ کہتی ہے کہ مماسی سمتیہ $\frac{\mathrm{d}\boldsymbol{r}}{\mathrm{d}t}$ کو ∇f عمودی ہو گا، لہٰذا ∇f نقطہ (x_0, y_0) پر منحنی کو عمودی ہو گا۔

۲۱۲۰۸ تفاعل $f(x, y)$ کے دائرہ کار میں ہر نقطہ (x_0, y_0) پر f کی ڈھلوان نقطہ (x_0, y_0) پر ہم قد منحنی کو عمودی ہو گی (شکل ۱۳.۴۷)۔

۲۱۲۰۹ ہم اس مشاہدہ کی وجہ سے ہم قد منحنیات کی مماسات کی مساواتیں دریافت کر سکتے ہیں۔ یہ ڈھلوان کو عمودی خطوط ہوں گے۔ نقطہ $N_0(x_0, y_0)$ سے
۲۱۲۱۰ گزرتا ہوا، سمتیہ $\boldsymbol{N} = A\boldsymbol{i} + B\boldsymbol{j}$ کو عمودی خط کی مساوات درج ذیل ہو گی (سوال ۱۳.۳۶۸)۔

$$A(x - x_0) + B(y - y_0) = 0$$

۲۱۲۱۱ اگر $\boldsymbol{N}$ ڈھلوان $(\nabla f)_{(x_0,y_0)} = f_x(x_0, y_0)\boldsymbol{i} + f_y(x_0, y_0)\boldsymbol{j}$ ہو تب اس مساوات کی صورت درج ذیل ہو گی۔

$$f_x(x_0, y_0)(x - x_0) + f_y(x_0, y_0)(y - y_0) = 0 \tag{۶}$$

۲۱۲۱۲

۲۱۲۱۳ مثال ۱۳.۴۳: نقطہ $(-2, 1)$ پر درج ذیل ترخیم کے مماس کی مساوات تلاش کریں (شکل ۱۳.۴۸)۔

$$\frac{x^2}{4} + y^2 = 2$$

۲۱۲۱۴ حل: یہ ترخیم درج ذیل تفاعل کی ہم قد منحنی ہے۔

$$f(x, y) = \frac{x^2}{4} + y^2$$

۲۱۲۱۵ نقطہ $(-2, 1)$ پر f کی ڈھلوان

$$\nabla f\big|_{(-2,1)} = \left(\frac{x}{2}\boldsymbol{i} + 2y\boldsymbol{j}\right)_{(-2,1)} = -\boldsymbol{i} + 2\boldsymbol{j}$$

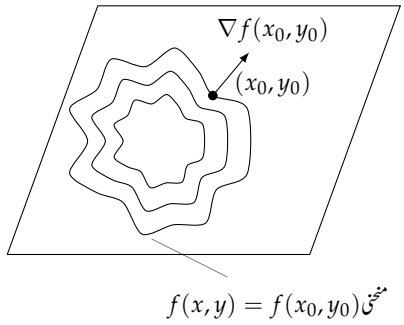

شکل ۱۳.۴۷: دو متغیرات کے تفاعل کی ڈھلوان ہر صورت ہم قد منحنیات کی عمودی ہو گی۔

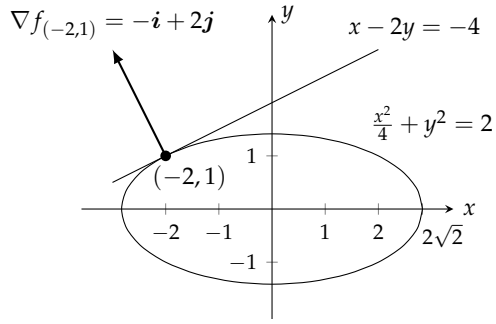

شکل ۱۳.۴۸: ہم قطع مکافی کو تفاعل $f(x,y) = \frac{x^2}{4} + y^2$ کی ہم قد منحنی تصور کر کے اس کا مماس تلاش کر سکتے ہیں (مثال ۱۳.۴۳)۔

۲۱۲۱۶ ہو گی لہٰذا مماسی خط کی مساوات درج ذیل ہو گی۔

$$\begin{aligned}(-1)(x+2) + (2)(y-1) &= 0 \\ x - 2y &= -4\end{aligned} \qquad \text{مساوات ۶}$$

۲۱۲۱۷ □

۲۱۲۱۸ تین متغیرات کا تفاعل

۲۱۲۱۹ ہم دو متغیرات کلیات کے ساتھ جزو z شامل کر کے تین متغیرات کلیات حاصل کرتے ہیں۔ فضا میں قابل تفرق تفاعل $f(x,y,z)$ اور اکائی سمتیہ
۲۱۲۲۰ $\boldsymbol{u} = u_1\boldsymbol{i} + u_2\boldsymbol{j} + u_3\boldsymbol{k}$ کے لئے ہم

$$\begin{aligned}\nabla f &= \frac{\partial f}{\partial x}\boldsymbol{i} + \frac{\partial f}{\partial y}\boldsymbol{j} + \frac{\partial f}{\partial z}\boldsymbol{k} \\ D_{\boldsymbol{u}} f = \nabla f \cdot \boldsymbol{u} &= \frac{\partial f}{\partial x}u_1 + \frac{\partial f}{\partial y}u_2 + \frac{\partial f}{\partial z}u_3 \qquad \text{اور}\end{aligned}$$

۲۱۲۲۱ لکھیں گے۔ رخی تفرق اب بھی

$$D_{\boldsymbol{u}} f = \nabla f \cdot \boldsymbol{u} = \left|\nabla f\right| |\boldsymbol{u}| \cos\theta = \left|\nabla f\right| \cos\theta$$

۲۱۲۲۲ ہو گا لہٰذا دو متغیرات کے خواص (جن کا ہم ذکر کر چکے ہیں)، تین متغیرات کے تفاعل کے لئے بھی کارآمد ہوں گے۔ کسی بھی نقطہ پر ∇f رخ تفاعل تیز ترین
۲۱۲۲۳ بڑھتا ہے اور $-\nabla f$ رخ تیز ترین گھٹتا ہے، جبکہ ∇f کے عمودی کسی بھی رخ، تفرق صفر ہو گا۔

مثال ۱۳.۴۴: (i) نقطہ $(N_0(1,1,0))$ پر $\boldsymbol{A} = 2\boldsymbol{i} - 3\boldsymbol{j} + 6\boldsymbol{k}$ رخ $f(x,y,z) = x^3 - xy^2 - z$ کا تفرق تلاش کریں۔ (ب) نقطہ N_0 پر f کس رخ تیز ترین بڑھتا ہے؟ اس رخ شرح تبدیلی کیا ہو گی؟

حل: (i) سمتیہ $\boldsymbol{A}$ کو اس کی لمبائی سے تقسیم کر کے اس کے رخ اکائی سمتیہ $\boldsymbol{u}$ تلاش کرتے ہیں۔

$$
\begin{aligned}
|\boldsymbol{A}| &= \sqrt{(2)^2 + (-3)^2 + (6)^2} = \sqrt{49} = 7 \\
\boldsymbol{u} &= \frac{\boldsymbol{A}}{|\boldsymbol{A}|} = \frac{2}{7}\boldsymbol{i} - \frac{3}{7}\boldsymbol{j} + \frac{6}{7}\boldsymbol{k}
\end{aligned}
$$

نقطہ N_0 پر جزوی تفرقات

$$
f_x = 3x^2 - y^2\Big|_{(1,1,0)} = 2, \quad f_y = -2xy\big|_{(1,1,0)} = -2, \quad f_z = -1\big|_{(1,1,0)} = -1
$$

ہوں گے لہٰذا N_0 پر f کی ڈھلوان درج ذیل ہو گی۔

$$
\nabla f\big|_{(1,1,0)} = 2\boldsymbol{i} - 2\boldsymbol{j} - \boldsymbol{k}
$$

نقطہ N_0 پر $\boldsymbol{A}$ کے رخ f کا تفرق درج ذیل ہو گا۔

$$
\begin{aligned}
D_{\boldsymbol{u}} f\big|_{(1,1,0)} &= \nabla f\big|_{(1,1,0)} \cdot \boldsymbol{u} = (2\boldsymbol{i} - 2\boldsymbol{j} - \boldsymbol{k}) \cdot \left(\frac{2}{7}\boldsymbol{i} - \frac{3}{7}\boldsymbol{j} + \frac{6}{7}\boldsymbol{k}\right) \\
&= \frac{4}{7} + \frac{6}{7} - \frac{6}{7} = \frac{4}{7}
\end{aligned}
$$

(ب) تفاعل تیز ترین $\nabla f = 2\boldsymbol{i} - 2\boldsymbol{j} - \boldsymbol{k}$ رخ بڑھتا ہے اور $-\nabla f = -2\boldsymbol{i} + 2\boldsymbol{j} + \boldsymbol{k}$ رخ تیز ترین گھٹتا ہے۔ ان رخ تبدیلی کی شرح بالترتیب درج ذیل ہوں گی۔

$$
\begin{aligned}
|\nabla f| &= \sqrt{(2)^2 + (-2)^2 + (-1)^2} = \sqrt{9} = 3 \\
-|\nabla f| &= -3
\end{aligned}
$$

□

مماسی مستوی اور عمودی خطوط کی مساواتیں

اگر قابل تفرق تفاعل f کی ہم قد منحنی $f(x,y,z) = c$ پر $\boldsymbol{r} = g(t)\boldsymbol{i} + h(t)\boldsymbol{j} + k(t)\boldsymbol{k}$ ایک ہموار منحنی ہو تب $f(g(t),h(t),k(t)) = 0$ ہوگا۔ دونوں اطراف کا t کے لحاظ سے تفرق درج ذیل دیگا:

$$\frac{\mathrm{d}}{\mathrm{d}t} f(g(t),h(t),k(t)) = \frac{\mathrm{d}}{\mathrm{d}t}(c)$$

$$\frac{\partial f}{\partial x}\frac{\mathrm{d}g}{\mathrm{d}t} + \frac{\partial f}{\partial y}\frac{\mathrm{d}h}{\mathrm{d}t} + \frac{\partial f}{\partial z}\frac{\mathrm{d}k}{\mathrm{d}t} = 0 \qquad \text{زنجیری قاعدہ}$$

$$\underbrace{\left(\frac{\partial f}{\partial x}\boldsymbol{i} + \frac{\partial f}{\partial y}\boldsymbol{j} + \frac{\partial f}{\partial z}\boldsymbol{k}\right)}_{\nabla f} \cdot \underbrace{\left(\frac{\mathrm{d}g}{\mathrm{d}t}\boldsymbol{i} + \frac{\mathrm{d}h}{\mathrm{d}t}\boldsymbol{j} + \frac{\mathrm{d}k}{\mathrm{d}t}\boldsymbol{k}\right)}_{\frac{\mathrm{d}\boldsymbol{r}}{\mathrm{d}t}} = 0 \tag{۷}$$

منحنی کے ساتھ ساتھ ہر نقطہ پر ∇f ، منحنی کی سمتیہ رفتار کو عمودی ہوگا۔

آئیں اب نقطہ N_0 سے گزرتی منحنی تک اپنے آپ کو محدود رکھتے ہیں (شکل ۱۳.۴۹)۔ نقطہ N_0 پر تمام سمتیات رفتار، N_0 پر ∇f کو عمودی ہوں گے لہٰذا منحنی کے تمام مماسی خط اس مستوی میں پائے جائیں گے جو N_0 پر ∇f کو عمودی ہو۔ اس مستوی کو ہم N_0 پر سطح کا مماسی مستوی کہتے ہیں۔ نقطہ N_0 سے گزرتا ہوا ایسا خط جو اس مستوی کو عمودی ہو، N_0 پر سطح کا عمودی خط ہوگا۔

تعریف: نقطہ $N_0(x_0,y_0,z_0)$ پر $\nabla f\big|_{N_0}$ کا عمودی مستوی، نقطہ N_0 پر ہم قد منحنی $f(x,y,z) = c$ کا مماسی مستوی ہوگا۔

نقطہ N_0 پر $\nabla f\big|_{N_0}$ کا متوازی خط، نقطہ N_0 پر سطح کا عمودی خط ہوگا۔

□

یوں حصہ ۱۱.۵ کے تحت، مماسی مستوی اور عمودی خط کی بالترتیب مساوات درج ذیل ہوں گی۔

$$f_x(N_0)(x-x_0) + f_y(N_0)(y-y_0) + f_z(N_0)(z-z_0) = 0 \tag{۸}$$

$$x = x_0 + f_x(N_0)t, \quad y = y_0 + f_y(N_0)t, \quad z = z_0 + f_z(N_0)t \tag{۹}$$

مثال ۱۳.۴۵: نقطہ $N_0(1,2,4)$ پر درج ذیل کا مماسی مستوی اور عمودی خط دریافت کریں (شکل ۱۳.۵۰)۔

$$f(x,y,z) = x^2 + y^2 + z - 9 = 0 \qquad \text{دائری قطع مکافی}$$

حل: نقطہ N_0 پر f کی ڈھلوان کو عمودی سطح، نقطہ N_0 پر مستوی ہوگا۔ ڈھلوان

$$\nabla f\big|_{N_0} = (2x\boldsymbol{i} + 2y\boldsymbol{j} + \boldsymbol{k})_{(1,2,4)} = 2\boldsymbol{i} + 4\boldsymbol{j} + \boldsymbol{k}$$

ہے لہٰذا مستوی درج ذیل ہوگا۔

$$2(x-1) + 4(y-2) + (z-4) = 0 \quad \text{یعنی} \quad 2x + 4y + z = 14$$

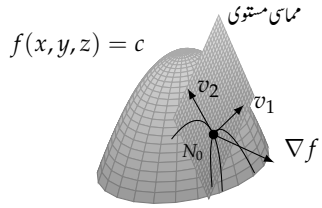

شکل ۱۳.۴۹: نقطہ N_0 سے گزرتی ہوئی سطح میں ہر ہموار منحنی کا سمتیہ رفتار ∇f کو عمودی ہو گا۔ یوں N_0 پر سمتیات رفتار ایک مشترک مستوی میں پائے جائیں گے جس کو ہم مماسی مستوی کہتے ہیں۔

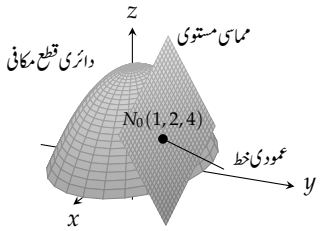

شکل ۱۳.۵۰: نقطہ N_0 پر دائری قطع مکافی سطح کا مماسی مستوی اور عمودی خط (مثال ۱۳.۴۵)۔

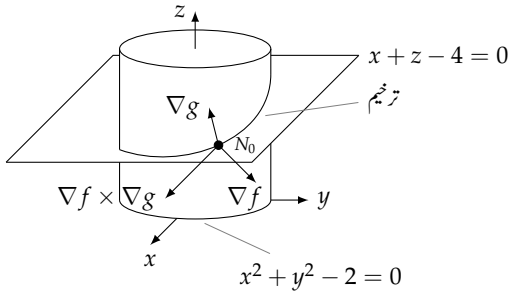

شکل ۱۳.۵۱: بیلن $f(x,y,z)=x^2+y^2-2=0$ اور مستوی $g(x,y,z)=x+z-4=0$ ایک دوسرے کو ترخیم میں قطع کرتے ہیں۔

۲۱۳۴۷ نقطہ N_0 پر سطح کا عمودی خط درج ذیل ہو گا۔

$$x=1+2t,\quad y=2+4t,\quad z=4+t$$

۲۱۳۴۸ □

۲۱۳۴۹ مثال ۱۳.۴۶: بیلنی سطح

$$f(x,y,z)=x^2+y^2-2=0$$

۲۱۳۵۰ اور مستوی

$$g(x,y,z)=x+z-4=0$$

۲۱۳۵۱ ایک ترخیم T میں ملتے ہیں (شکل ۱۳.۴۶)۔ نقطہ $N_0(1,1,3)$ پر T کے مماسی خط کی مقدار معلوم مساوات تلاش کریں۔

۲۱۲۵۲ حل: نقطہ N_0 پر مماسی خط ∇f اور ∇g دونوں کو عمودی لہٰذا $\boldsymbol{v} = \nabla f \times \nabla g$ کو متوازی ہو گا۔ نقطہ N_0 کے محدد اور $\boldsymbol{v}$ کے
۲۱۲۵۳ اجزاء ہمیں مماسی خط کی مساوات دیتے ہیں۔ ہمارے پاس درج ذیل ہے۔

$$\nabla f_{(1,1,3)} = (2x\boldsymbol{i} + 2y\boldsymbol{j})_{(1,1,3)} = 2\boldsymbol{i} + 2\boldsymbol{j}$$
$$\nabla g_{(1,1,3)} = (\boldsymbol{i} + \boldsymbol{k})_{(1,1,3)} = \boldsymbol{i} + \boldsymbol{k}$$
$$\boldsymbol{v} = (2\boldsymbol{i} + 2\boldsymbol{j}) \times (\boldsymbol{i} + \boldsymbol{k}) = \begin{vmatrix} \boldsymbol{i} & \boldsymbol{j} & \boldsymbol{k} \\ 2 & 2 & 0 \\ 1 & 0 & 1 \end{vmatrix} = 2\boldsymbol{i} - 2\boldsymbol{j} - 2\boldsymbol{k}$$

۲۱۲۵۴ مماسی خط درج ذیل ہو گا۔

$$x = 1 + 2t, \quad y = 1 - 2t, \quad z = 3 - 2t$$

۲۱۲۵۵ □

۲۱۲۵۶ سطح $z = f(x, y)$ کا مماسی مستوی

۲۱۲۵۷ نقطہ $N_0(x_0, y_0, z_0)$ پر سطح $z = f(x, y)$ کے مماسی مستوی کی مساوات تلاش کریں۔ اس نقطہ پر $z_0 = f(x_0, y_0)$ ہو گا۔
۲۱۲۵۸ ہم دیکھتے ہیں کہ مساوات $z = f(x, y)$ کو $f(x, y) - z = 0$ لکھا جا سکتا ہے۔ یوں سطح $z = f(x, y)$ درحقیقت تفاعل
۲۱۲۵۹ $F(x, y, z) = f(x, y) - z$ کا صفر ہم قد مستوی ہو گا۔ تفاعل F کے جزوی تفرقات

$$F_x = \frac{\partial}{\partial x}(f(x, y) - z) = f_x - 0 = f_x$$
$$F_y = \frac{\partial}{\partial y}(f(x, y) - z) = f_y - 0 = f_y$$
$$F_z = \frac{\partial}{\partial z}(f(x, y) - z) = 0 - 1 = -1$$

۲۱۲۶۰ ہوں گے۔ نقطہ N_0 پر مماسی مستوی کا کلیہ

$$F_x(N_0)(x - x_0) + F_y(N_0)(y - y_0) + F_z(N_0)(z - z_0) = 0$$

۲۱۲۶۱ یوں درج ذیل صورت اختیار کرے گا۔

$$f_x(x_0, y_0)(x - x_0) + f_y(x_0, y_0)(y - y_0) + (z - z_0) \tag{۱۰}$$

۲۱۲۶۲ مثال ۱۳.۴۷: نقطہ $(0, 0, 0)$ پر سطح $z = x \cos y - ye^x$ کا مماسی مستوی تلاش کریں۔

۲۱۲۶۳ حل: ہم جزوی تفرقات معلوم کر کے مساوات ۱۰ استعمال کریں گے:

$$f_x(0, 0) = (\cos y - ye^x)_{(0,0)} = 1 - 0 \cdot 1 = 1$$
$$f_y(0, 0) = (-x \sin y - e^x)_{(0,0)} = 0 - 1 = -1$$

۲۱۲۶۴ یوں مماسی مستوی

$$1 \cdot (x-0) - 1 \cdot (y-0) - (z-0) = 0 \qquad \text{مساوات ۱۰}$$

۲۱۲۶۵ یعنی درج ذیل ہو گا۔

$$x - y - z = 0$$

۲۱۲۶۶ □

۲۱۲۶۷ **بڑھوتری اور فاصلہ**

۲۱۲۶۸ نقطہ N_0 سے فاصلہ $\mathrm{d}s$ دور قریبی نقطہ منتقلی کے دوران تفاعل f کی قیمت میں تبدیلی جاننے کی خاطر رخی تفرق ایک سادہ تفرق کا کردار ادا کرتا ہے۔ اگر
۲۱۲۶۹ f ایک متغیر کا تفاعل ہو تا تب درج ذیل ہوتا۔

$$\mathrm{d}f = f'(N_0)\,\mathrm{d}s \qquad \text{سادہ تفرق} \times \text{بڑھوتری}$$

۲۱۲۷۰ دو یا دو سے زیادہ متغیرات کے تفاعل کے لئے ہم درج ذیل کلیہ استعمال کریں گے

$$\mathrm{d}f = \left(\nabla f\big|_{N_0} \cdot \boldsymbol{u}\right) \cdot \mathrm{d}s \qquad \text{رخی تفرق} \times \text{بڑھوتری}$$

۲۱۲۷۱ جہاں N_0 سے حرکت کا رخ $\boldsymbol{u}$ ہو گا۔

۲۱۲۷۲ **رخ $\boldsymbol{u}$ میں f کی تبدیلی کا اندازہ**

۲۱۲۷۳ ہم نقطہ N_0 سے رخ $\boldsymbol{u}$ چھوٹا فاصلہ $\mathrm{d}x$ حرکت کرنے سے f کی قیمت میں تبدیلی درج ذیل کلیہ سے حاصل کرتے ہیں۔

$$\mathrm{d}f = \underbrace{\left(\nabla f\big|_{N_0} \cdot \boldsymbol{u}\right)}_{\text{رخی تفرق}} \cdot \underbrace{\mathrm{d}s}_{\text{فاصلاتی بڑھوتری}} \tag{۱۱}$$

۲۱۲۷۴ مثال ۱۳.۴۸: نقطہ $N(x,y,z)$ ابتدائی نقطہ $N_0(2,0,0)$ سے 0.1 اکائی دور $N_1(4,1,-4)$ کے رخ منتقل ہوتا ہے۔ درج ذیل
۲۱۲۷۵ تفاعل کی قیمت میں کتنی تبدیلی رونما ہو گی؟

$$f(x,y,z) = xe^y + yz$$

۲۱۲۷۶ حل: ہم N_0 پر سمتیہ

$$\overrightarrow{N_0N_1} = 2\boldsymbol{i} + \boldsymbol{j} - 2\boldsymbol{k}$$

۲۱۲۷۷ کے رخ f کا تفرق حاصل کرتے ہیں۔ اس سمتیہ کا رخ

$$\boldsymbol{u} = \frac{\overrightarrow{N_0N_1}}{\left|\overrightarrow{N_0N1}\right|} = \frac{\overrightarrow{N_0N_1}}{3} = \frac{2}{3}\boldsymbol{i} + \frac{1}{3}\boldsymbol{j} - \frac{2}{3}\boldsymbol{k}$$

۲۱۲۷۸ ہو گا۔ نقطہ N_0 پر f کی ڈھلوان

$$\nabla f\big|_{(2,0,0)} = (e^y\boldsymbol{i} + (xe^y + z)\boldsymbol{j} + y\boldsymbol{k})\big|_{(2,0,0)} = \boldsymbol{i} + 2\boldsymbol{j}$$

۲۱۲۷۹ ہو گی لہٰذا

$$\nabla f\big|_{N_0} \cdot \boldsymbol{u} = (\boldsymbol{i} + 2\boldsymbol{j}) \cdot \left(\frac{2}{3}\boldsymbol{i} + \frac{1}{3}\boldsymbol{j} - \frac{2}{3}\boldsymbol{k}\right) = \frac{2}{3} + \frac{2}{3} = \frac{4}{3}$$

۲۱۲۸۰ ہو گا۔ نقطہ N_0 سے $\boldsymbol{u}$ رخ 0.1 اکائی دور منتقلی سے f کی قیمت تقریباً درج ذیل تبدیلی رونما ہو گی۔

$$\mathrm{d}f = (\nabla f\big|_{N_0} \cdot \boldsymbol{u})(\mathrm{d}s) = \left(\frac{4}{3}\right)(0.1) \approx 0.13$$

۲۱۲۸۱ □

۲۱۲۸۲ **ڈھلوان کے الجبرائی قواعد**

۲۱۲۸۳ اگر ہم دو تفاعل f اور g کی ڈھلوان جانتے ہوں تب ہم ان کے مستقل مضرب، مجموعہ، فرق، حاصل ضرب، اور حاصل تقسیم کی ڈھلوان بھی جانتے ہیں۔

۲۱۲۸۴ **ڈھلوان کے الجبرائی قواعد**

۲۱۲۸۵

۲۱۲۸۶ قاعدہ مستقل مضرب $\nabla(kf) = k\nabla f$ جہاں k مستقل ہے

۲۱۲۸۷ قاعدہ مجموعہ $\nabla(f+g) = \nabla f + \nabla g$

۲۱۲۸۸ قاعدہ فرق $\nabla(f-g) = \nabla f - \nabla g$

۲۱۲۸۹ قاعدہ ضرب $\nabla(fg) = f\nabla g + g\nabla f$

۲۱۲۹۰ قاعدہ حاصل تقسیم $\nabla\left(\frac{f}{g}\right) = \frac{g\nabla f - f\nabla g}{g^2}$

۲۱۲۹۱ مثال ۱۳.۴۹: ہم درج ذیل تفاعل لیتے ہوئے ان قواعد کو دکھاتے ہیں۔

$$f(x,y,z) = x - y, \quad g(x,y,z) = z, \quad \nabla f = \boldsymbol{i} - \boldsymbol{j}, \quad \nabla g = \boldsymbol{k}$$

۲۱۲۹۲ یوں درج ذیل ہوں گے۔

$$
\begin{aligned}
\nabla(2f) &= \nabla(2x-2y) = 2\boldsymbol{i}-2\boldsymbol{j} = 2\nabla f\\
\nabla(f+g) &= \nabla(x-y+z) = \boldsymbol{i}-\boldsymbol{j}+\boldsymbol{k} = \nabla f+\nabla g\\
\nabla(f-g) &= \nabla(x-y-z) = \boldsymbol{i}-\boldsymbol{j}-\boldsymbol{k} = \nabla f-\nabla g\\
\nabla(fg) &= \nabla(xz-yz) = z\boldsymbol{i}-z\boldsymbol{j}+(x-y)\boldsymbol{k} = g\nabla f+f\nabla g\\
\nabla\Big(\frac{f}{g}\Big) &= \nabla\Big(\frac{x-y}{z}\Big) = \frac{\partial}{\partial x}\Big(\frac{x-y}{z}\Big)\boldsymbol{i}+\frac{\partial}{\partial y}\Big(\frac{x-y}{z}\Big)\boldsymbol{j}+\frac{\partial}{\partial z}\Big(\frac{x-y}{z}\Big)\boldsymbol{k}\\
&= \frac{1}{z}\boldsymbol{i}-\frac{1}{z}\boldsymbol{j}+\frac{z\cdot 0-(x-y)\cdot 1}{z^2}\boldsymbol{k}\\
&= \frac{z\boldsymbol{i}-z\boldsymbol{j}-(x-y)\boldsymbol{k}}{z^2} = \frac{g\nabla f-f\nabla g}{g^2}
\end{aligned}
$$

۲۱۲۹۳ □

۲۱۲۹۴ **سوالات**

۲۱۲۹۵ **نقطہ پر ڈھلوان کا حصول**

۲۱۲۹۶ سوال ۱۳.۳۱۰ تا سوال ۱۳.۳۱۳ میں دیے نقطہ پر تفاعل کی ڈھلوان تلاش کریں۔ اس نقطہ پر ڈھلوان اور اس نقطہ سے گزرتی ہم قد منحنی ترسیم کریں۔

۲۱۲۹۷ سوال ۱۳.۳۱۰: $f(x,y) = y-x, \quad (2,1)$

۲۱۲۹۸ سوال ۱۳.۳۱۱: $f(x,y) = \ln(x^2+y^2), \quad (1,1)$

۲۱۲۹۹ سوال ۱۳.۳۱۲: $g(x,y) = y-x^2, \quad (-1,0)$

۲۱۳۰۰ سوال ۱۳.۳۱۳: $g(x,y) = \frac{x^2}{2}-\frac{y^2}{2}, \quad (\sqrt{2},1)$

۲۱۳۰۱ سوال ۱۳.۳۱۴ تا سوال ۱۳.۳۱۷ میں دیے نقطہ پر ∇f تلاش کریں۔

۲۱۳۰۲ سوال ۱۳.۳۱۴: $f(x,y,z) = x^2+y^2-2z^2+z\ln x, \quad (1,1,1)$

۲۱۳۰۳ سوال ۱۳.۳۱۵: $f(x,y,z) = 2z^3-3(x^2+y^2)z+\tan^{-1}xz, \quad (1,1,1)$

۲۱۳۰۴ سوال ۱۳.۳۱۶: $f(x,y,z) = (x^2+y^2+z^2)^{-1/2}+\ln(xyz), \quad (-1,2,-2)$

۲۱۳۰۵ سوال ۱۳.۳۱۷: $f(x,y,z) = e^{x+y}\cos z+(y+1)\sin^{-1}x, \quad (0,0,\pi/6)$

۲۱۳۰۶

۲۱۳۰۷ **مستوی xy میں رخی تفرق کی تلاش**

۲۱۳۰۸ سوال ۱۳.۳۱۸ تا سوال ۱۳.۳۲۵ میں N_0 پر $\boldsymbol{A}$ کے رخ تفاعل کا رخی تفرق دریافت کریں۔

۲۱۳۰۹ سوال ۱۳.۳۱۸: $f(x,y) = 2xy-3y^2, \quad N_0(5,5), \quad \boldsymbol{A} = 4\boldsymbol{i}+3\boldsymbol{j}$

سوال ۱۳.۳۱۹: $f(x,y) = 2x^2 + y^2, \quad N_0(-1,1), \quad \boldsymbol{A} = 3\boldsymbol{i} - 4\boldsymbol{j}$

سوال ۱۳.۳۲۰: $g(x,y) = x - \frac{y^2}{x} + \sqrt{3}\sec^{-1}(2xy), \quad N_0(1,1), \quad \boldsymbol{A} = 12\boldsymbol{i} + 5\boldsymbol{j}$

سوال ۱۳.۳۲۱: $h(x,y) = \tan^{-1}\frac{y}{x} + \sqrt{3}\sin^{-1}\frac{xy}{2}, \quad N_0(1,1), \quad \boldsymbol{A} = 3\boldsymbol{i} - 2\boldsymbol{j}$

سوال ۱۳.۳۲۲: $f(x,y,z) = xy + yz + zx, \quad N_0(1,-1,2), \quad \boldsymbol{A} = 3\boldsymbol{i} + 6\boldsymbol{j} - 2\boldsymbol{k}$

سوال ۱۳.۳۲۳: $f(x,y,z) = x^2 + 2y^2 - 3z^2, \quad N_0(1,1,1), \quad \boldsymbol{A} = \boldsymbol{i} + \boldsymbol{j} + \boldsymbol{k}$

سوال ۱۳.۳۲۴: $g(x,y,z) = 3e^x \cos yz, \quad N_0(0,0,0), \quad \boldsymbol{A} = 2\boldsymbol{i} + \boldsymbol{j} - 2\boldsymbol{k}$

سوال ۱۳.۳۲۵: $h(x,y,z) = \cos xy + e^{yz} + \ln zx, \quad N_0(1,0,1/2), \quad \boldsymbol{A} = \boldsymbol{i} + 2\boldsymbol{j} + 2\boldsymbol{k}$

تیز بڑھنے اور گھٹنے کے رخ

سوال ۱۳.۳۲۶ تا سوال ۱۳.۳۳۱ میں نقطہ N_0 پر وہ رخ تلاش کریں جس رخ تفاعل کے بڑھنے اور گھٹنے کی تبدیلی تیز ترین ہو۔ ان رخ تفاعل کے تفرق دریافت کریں۔

سوال ۱۳.۳۲۶: $f(x,y) = x^2 + xy + y^2, \quad N_0(-1,1)$

سوال ۱۳.۳۲۷: $f(x,y) = x^2y + e^{xy}\sin y, \quad N_0(1,0)$

سوال ۱۳.۳۲۸: $f(x,y,z) = \frac{x}{y} - yz, \quad N_0(4,1,1)$

سوال ۱۳.۳۲۹: $g(x,y,z) = xe^y + z^2, \quad N_0(1,\ln 2,1/2)$

سوال ۱۳.۳۳۰: $f(x,y,z) = \ln xy + \ln yz + \ln xz, \quad N_0(1,1,1)$

سوال ۱۳.۳۳۱: $h(x,y,z) = \ln(x^2 + y^2 - 1) + y + 6z, \quad N_0(1,1,0)$

تبدیلی کا اندازہ

سوال ۱۳.۳۳۲: نقطہ $N(x,y,z)$ کو $N_0(3,4,12)$ سے $3\boldsymbol{i} + 6\boldsymbol{j} - 2\boldsymbol{k}$ رخ $\mathrm{ds} = 0.1$ اکائیاں دور منتقل کرنے سے $f(x,y,z) = \ln\sqrt{x^2 + y^2 + z^2}$ کی قیمت میں کتنی تبدیلی رونما ہو گی؟

سوال ۱۳.۳۳۳: نقطہ $N(x,y,z)$ کو مبدا سے $2\boldsymbol{i} + 2\boldsymbol{j} - 2\boldsymbol{k}$ رخ $\mathrm{ds} = 0.1$ اکائیاں دور منتقل کرنے سے تفاعل $f(x,y,z) = e^x \cos yz$ کی قیمت میں کتنی تبدیلی رونما ہو گی؟

سوال ۱۳.۳۳۴: نقطہ $N(x,y,z)$ کو $N_0(2,-1,0)$ سے $N_1(0,1,2)$ جانب $\mathrm{ds} = 0.2$ اکائیاں دور منتقل کرنے سے تفاعل $g(x,y,z) = x + x\cos z - y\sin z + y$ کی قیمت میں کتنی تبدیلی رونما ہو گی؟

سوال ۱۳.۳۳۵: نقطہ $N(x,y,z)$ کو $N_0(-1,-1,-1)$ سے مبدا کے رخ $\mathrm{ds} = 0.1$ اکائیاں دور منتقل کرنے سے تفاعل $h(x,y,z) = \cos(\pi xy) + xz^2$ کی قیمت میں کتنی تبدیلی رونما ہو گی؟

سطح کا مماسی مستوی اور عمودی خط

سوال ۱۳.۳۳۶ تا سوال ۱۳.۳۴۳ میں نقطہ N_0 پر دیے گئے سطح کا (ا) مماسی مستوی اور (ب) عمودی خط تلاش کریں۔

سوال ۱۳.۳۳۶: $x^2 + y^2 + z^2 = 3, \quad N_0(1,1,1)$

سوال ۱۳.۳۳۷: $x^2 + y^2 - z^2 = 18, \quad N_0(3,5,-4)$

سوال ۱۳.۳۳۸: $2z - x^2 = 0, \quad N_0(2,0,2)$

سوال ۱۳.۳۳۹: $x^2 + 2xy - y^2 + z^2 = 7, \quad N_0(1,-1,3)$

سوال ۱۳.۳۴۰: $\cos \pi x - x^2 y + e^{xz} + yz = 4, \quad N_0(0,1,2)$

سوال ۱۳.۳۴۱: $x^2 - xy - y^2 - z = 0, \quad N_0(1,1,-1)$

سوال ۱۳.۳۴۲: $x + y + z = 1, \quad N_0(0,1,0)$

سوال ۱۳.۳۴۳: $x^2 + y^2 - 2xy - x + 3y - z = -4, \quad N_0(2,-3,18)$

سوال ۱۳.۳۴۴ تا سوال ۱۳.۳۴۷ میں دیے گئے نقطہ پر سطح کے مماسی مستوی کی مساوات تلاش کریں۔

سوال ۱۳.۳۴۴: $z = \ln(x^2 + y^2), \quad (1,0,0)$

سوال ۱۳.۳۴۵: $z = e^{-(x^2+y^2)}, \quad (0,0,1)$

سوال ۱۳.۳۴۶: $z = \sqrt{y - x}, \quad (1,2,1)$

سوال ۱۳.۳۴۷: $z = 4x^2 + y^2, \quad (1,1,5)$

منحنیات کے مماسی خط

سوال ۱۳.۳۴۸ تا سوال ۱۳.۳۵۱ میں منحنی $f(c,y) = c$ ترسیم کریں۔ ساتھ ہی دیے گئے نقطہ پر ∇f اور مماسی خط ترسیم کریں۔

سوال ۱۳.۳۴۸: $x^2 + y^2 = 4, \quad (\sqrt{2}, \sqrt{2})$

سوال ۱۳.۳۴۹: $x^2 - y = 1, \quad (\sqrt{2}, 1)$

سوال ۱۳.۳۵۰: $xy = -4, \quad (2,-2)$

سوال ۱۳.۳۵۱: $x^2 - xy + y^2 = 7, \quad (-1,2)$ (یہ مثال ۳.۵۰ کی منحنی ہے۔)

سوال ۱۳.۳۵۲ تا سوال ۱۳.۳۵۷ میں دیے نقطہ پر سطحوں کی متقاطع منحنی کے مماسی خط کی مقدار معلوم مساوات

سوال ۱۳.۳۵۲: $x + y^2 + 2z = 4, \quad x = 1; \quad (1,1,1)$

سوال ۱۳.۳۵۳: $xyz = 1, \quad x^2 + 2y^2 + 3z^2 = 6; \quad (1,1,1)$

سوال ۱۳.۳۵۴: $x^2 + 2y + 2z = 4, \quad y = 1; \quad (1, 1, 1/2)$

سوال ۱۳.۳۵۵: $x + y^2 + z = 2, \quad y = 1; \quad (1/2, 1, 1/2)$

سوال ۱۳.۳۵۶: $x^3 + 3x^2y^2 + y^3 + 4xy - z^2 = 0, \quad x^2 + y^2 + z^2 = 11; \quad (1, 1, 3)$

سوال ۱۳.۳۵۷: $x^2 + y^2 = 4, \quad x^2 + y^2 - z = 0; \quad (\sqrt{2}, \sqrt{2}, 4)$

نظریہ اور مثالیں

سوال ۱۳.۳۵۸: نقطہ $N(3, 2)$ پر کس رخ $f(x, y) = xy + y^2$ کا تفرق صفر ہو گا؟

سوال ۱۳.۳۵۹: نقطہ $N(1, 1)$ پر کن دو رخ تفاعل $f(x, y) = \frac{x^2 - y^2}{x^2 + y^2}$ کے تفرقات صفر ہوں گے؟

سوال ۱۳.۳۶۰: کیا $N(1, 2)$ پر ایسا کوئی رخ $\boldsymbol{A}$ ہے جس رخ $f(x, y) = x^2 - 3xy + 4y^2$ کا تفرق 14 کے برابر ہو؟ اپنے جواب کی وجہ پیش کریں۔

سوال ۱۳.۳۶۱: کیا کسی رخ $\boldsymbol{A}$، نقطہ $N(1, -1, 1)$ پر درجہ حرارت $T(x, y, z) = 2xy - yz$ کی شرح تبدیلی $-3\,^\circ\mathrm{C\,m^{-1}}$ ہو گی؟ اپنے جواب کی وجہ پیش کریں۔

سوال ۱۳.۳۶۲: نقطہ $N_0(1, 2)$ پر $\boldsymbol{i} + \boldsymbol{j}$ رخ $f(x, y)$ کا تفرق $2\sqrt{2}$ اور $-2\boldsymbol{j}$ رخ -3 ہے۔ سمتیہ $-\boldsymbol{i} - 2\boldsymbol{j}$ رخ f کا تفرق کیا ہو گا؟ اپنے جواب کی وجہ پیش کریں۔

سوال ۱۳.۳۶۳: کسی نقطہ پر $f(x, y, z)$ کے تفرق کی قیمت $\boldsymbol{A} = \boldsymbol{i} + \boldsymbol{j} - \boldsymbol{k}$ رخ زیادہ سے زیادہ ہے۔ اس رخ تفرق کی قیمت $2\sqrt{3}$ ہے۔ (ا) اس نقطہ پر ∇f کتنا ہو گا؟ اپنے جواب کی وجہ پیش کریں۔ (ب) سمتیہ $\boldsymbol{i} + \boldsymbol{j}$ کے رخ اس نقطہ پر f کا تفرق کیا ہو گا؟

سوال ۱۳.۳۶۴: دائرہ پر درجہ حرارت کی تبدیلی

فرض کریں مستوی xy میں نقطہ (x, y) پر درجہ حرارت $T(x, y) = x \sin 2y$ ہے۔ ایک ذرہ ایک میٹر رداس کے دائرہ پر گھڑی کے رخ $2\,\mathrm{m\,s^{-1}}$ کی رفتار سے حرکت کرتا ہے۔ اس دائرے کا مرکز مبدا پر ہے۔ (ا) نقطہ $N(1/2, \sqrt{3}/2)$ پر یہ ذرہ کس شرح حرارت $^\circ\mathrm{C\,m^{-1}}$ سے گزرتا ہے؟ (ب) نقطہ $N(1/2, \sqrt{3}/2)$ پر یہ ذرہ کس شرح حرارت $^\circ\mathrm{C\,s^{-1}}$ سے گزرتا ہے؟

سوال ۱۳.۳۶۵: دائرہ کے در پیچیدہ پر تبدیلی

درج ذیل منحنی کے اکائی مماسی سمتیہ کے رخ تفاعل $f(x, y) = x^2 + y^2$ کا تفرق تلاش کریں (شکل ۱۳.۵۲)۔

$$\boldsymbol{r}(t) = (\cos t + t \sin t)\boldsymbol{i} + (\sin t - t \cos t)\boldsymbol{j}, \; t > 0$$

سوال ۱۳.۳۶۶: پیچدار منحنی کے ساتھ ساتھ تبدیلی

نقاط $t = -\pi/4, 0, \pi/4$ پر پیچ دار منحنی $\boldsymbol{r}(t) = (\cos t)\boldsymbol{i} + (\sin t)\boldsymbol{j} + t\boldsymbol{k}$ کے اکائی مماسی سمتیات کے رخ تفاعل $f(x, y, z) = x^2 + y^2 + z^2$ کے تفرقات تلاش کریں۔ یہ تفاعل مبدا سے پیچدار منحنی کے نقطہ $N(x, y, z)$ کے فاصلہ کا مربع دیتا ہے۔ اس منحنی پر چلتے ہوئے تفرق t کے لحاظ سے فاصلے کے مربع کی شرح تبدیلی دے گا۔

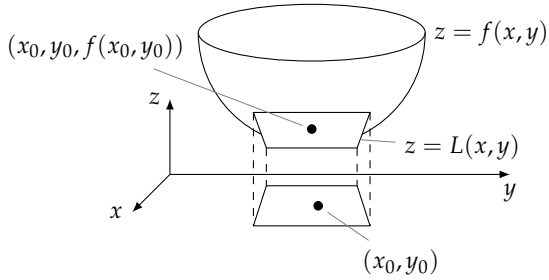

شکل ۱۳.۵۳: تفاعل $z = f(x, y)$ اور نقطہ (x_0, y_0) پر اس کی خط بندی $z = L(x, y)$ کی ترسیم۔ خط بند مستوی L، نقطہ (x_0, y_0) کے سیدھا اوپر بلندی پر سطح $z = f(x, y)$ کو مماسی ہو گا۔ یوں آپ جیومیٹریائی طور پر دیکھ سکتے ہیں کہ (x_0, y_0) کی پڑوس میں L اور f کی قیمتیں یکساں ہوں گی۔

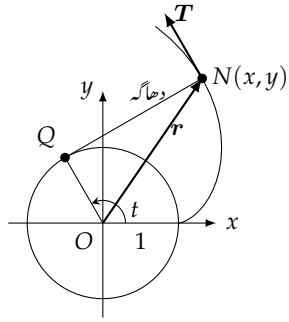

شکل ۱۳.۵۲: دائرے کا درپیچیدہ (سوال ۱۳.۳۶۵)

سوال ۱۳.۳۶۷: فضا میں درجہ حرارت $T(x, y, z) = 2x^2 - xyz$ ہے۔ ایک متحرک ذرے کا مقام لمحہ t پر $x = 2t^2$، $y = 3t$، $z = -t^2$ ہے، جہاں وقت کی اکائی سیکنڈ اور فاصلہ کی اکائی میٹر ہے۔ (ا) نقطہ $N(8, 6, -4)$ پر یہ ذرہ کس شرح تبدیلی $^\circ\mathrm{C\,m^{-1}}$ سے گزرتا ہے؟ (ب) نقطہ $N(8, 6, -4)$ پر یہ ذرہ کس شرح تبدیلی $^\circ\mathrm{C\,s^{-1}}$ سے گزرتا ہے؟

سوال ۱۳.۳۶۸: دکھائیں کہ مستوی xy میں نقطہ (x_0, y_0) پر سمتیہ $\boldsymbol{N} = A\boldsymbol{i} + B\boldsymbol{j}$ کے عمودی خط کی مساوات درج ذیل ہو گی۔

$$A(x - x_0) + B(y - y_0) = 0$$

سوال ۱۳.۳۶۹: عمودی منحنیات اور مماسی منحنیات

ایک منحنی اس صورت ایک سطح $f(x, y, z) = c$ کو نقطہ تقاطع پر عمودی ہو گی جب منحنی کا سمتیہ رفتار اس نقطہ پر ∇f کا مستقل مضرب ہو۔ نقطہ تقاطع پر ایک منحنی اس صورت سطح f کی مماسی منحنی ہو گی جب منحنی کا سمتیہ رفتار اس نقطہ پر ∇f کو عمودی ہو۔ (ا) دکھائیں کہ منحنی $\boldsymbol{r}(t) = \sqrt{t}\boldsymbol{i} + \sqrt{t}\boldsymbol{j} - \frac{1}{4}(t + 3)\boldsymbol{k}$ نقطہ $t = 1$ پر سطح $x^2 + y^2 - z = 3$ کو عمودی ہے۔ (ب) دکھائیں کہ منحنی $\boldsymbol{r}(t) = \sqrt{t}\boldsymbol{i} + \sqrt{t}\boldsymbol{j} + (2t - 1)\boldsymbol{k}$ نقطہ $t = 1$ پر سطح $x^2 + y^2 - z = 1$ کو مماسی ہے۔

سوال ۱۳.۳۷۰: ہم قد منحنیات اور ڈھلوان ایک دوسرے کے عمودی کیوں ہوتے ہیں۔ دوسرا نقطہ نظر۔

فرض کریں t کی تمام قیمتوں کے لئے قابل تفرق منحنی $x = g(t),\ y = h(t)$ پر قابل تفرق تفاعل $f(x, y)$ کی قیمت مستقل c ہو۔ مساوات $f(g(t), h(t)) = c$ کے دونوں اطراف کا t کے لحاظ سے تفرق لے کر دکھائیں کہ ہر نقطہ پر منحنی کا مماس اور ∇f آپس میں عمودی ہیں۔

سوال ۱۳.۳۷۱: تفاعل $f(x, y)$ کی خط بندی، مماسی مستوی تخمین ہو گی۔

دکھائیں کہ نقطہ $N_0(x_0, y_0, f(x_0, y_0))$ پر سطح $z = f(x, y)$ کا مماسی مستوی درج ذیل ہوگا جہاں f قابل تفرق ہے۔

$$f_x(x_0, y_0)(x - x_0) + f_y(x_0, y_0)(y - y_0) - (z - f(x_0, y_0)) = 0$$

یعنی

$$z = f(x_0, y_0) + f_x(x_0, y_0)(x - x_0) + f_y(x_0, y_0)(y - y_0)$$

یوں N_0 پر مماسی مستوی نقطہ N_0 پر f کی خط بندی کی ترسیم ہوگی (شکل ۱۳.۵۳)۔

سوال ۱۳.۳۷۲: رخی تفرقات اور غیر سمتی اجزاء

نقطہ N_0 پر اکائی سمتیہ $\boldsymbol{u}$ کے رخ قابل تفرق تفاعل $f(x, y, z)$ کے تفرقات کا $\boldsymbol{u}$ کے رخ $(\nabla f)_{N_0}$ کے غیر سمتی اجزاء کے ساتھ کیا تعلق ہے؟ اپنے جواب کی وجہ پیش کریں۔

سوال ۱۳.۳۷۳: رخی تفرقات اور جزوی تفرقات

فرض کریں کہ $f(x, y, z)$ کے مطلوبہ تفرقات موجود ہیں۔ تفرقات $D_i f$ ، $D_j f$ اور $D_k f$ کا تفرقات f_x ، f_y اور f_z کے ساتھ کیا تعلق ہے؟ اپنے جواب کی وجہ پیش کریں۔

سوال ۱۳.۳۷۴: الجبرائی قواعد برائے ڈھلوان

مستقل k اور ڈھلوان $\nabla f = \frac{\partial f}{\partial x}\boldsymbol{i} + \frac{\partial f}{\partial y}\boldsymbol{j} + \frac{\partial f}{\partial z}\boldsymbol{k}$ اور $\nabla g = \frac{\partial g}{\partial x}\boldsymbol{i} + \frac{\partial g}{\partial y}\boldsymbol{j} + \frac{\partial g}{\partial z}\boldsymbol{k}$ دیے گئے ہیں۔ غیر سمتی مساوات

$$\frac{\partial}{\partial x}(kf) = k\frac{\partial f}{\partial x}, \quad \frac{\partial}{\partial x}(f \mp g) = \frac{\partial f}{\partial x} \mp \frac{\partial g}{\partial x},$$
$$\frac{\partial}{\partial x}(fg) = f\frac{\partial g}{\partial x} + g\frac{\partial f}{\partial x}, \quad \frac{\partial}{\partial x}\left(\frac{f}{g}\right) = \frac{g\frac{\partial f}{\partial x} - f\frac{\partial g}{\partial x}}{g^2},$$

وغیرہ، استعمال کرتے ہوئے درج ذیل قواعد کی تصدیق کریں۔

ا. $\nabla(kf) = k\nabla f$ جہاں k مستقل ہے

ب. $\nabla(f + g) = \nabla f + \nabla g$

ج. $\nabla(f - g) = \nabla f - \nabla g$

د. $\nabla(fg) = f\nabla g + g\nabla f$

ھ. $\nabla\left(\frac{f}{g}\right) = \frac{g\nabla f - f\nabla g}{g^2}$

۱۳.۸ انتہائی قیمتیں اور نقاط زین

مستوی xy میں محدود بند خطہ میں استمراری تفاعل کی اس دائرہ کار میں مطلق زیادہ سے زیادہ اور مطلق کم سے کم قیمتیں پائی جائیں گی (شکل ۱۳.۵۴ اور شکل ۱۳.۵۵)۔ ان قیمتوں کا جاننا اور ان نقطوں کا جاننا، جہاں یہ قیمتیں پائی جاتی ہیں، ضروری ہے۔ ہم جزوی تفرقات سے عموماً نہیں جان سکتے ہیں۔

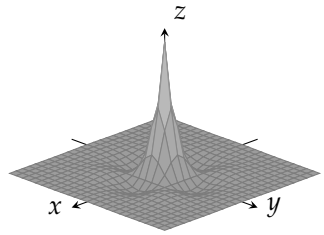

شکل ۱۳.۵۴: چوکور خطہ $|x| \leq \frac{3\pi}{2}, |y| \leq \frac{3\pi}{2}$ پر تفاعل $z = (\cos x)(\cos y)e^{-\sqrt{x^2+y^2}}$ کی زیادہ سے زیادہ قیمت 1 اور کم سے کم قیمت تقریباً -0.067 ہے۔

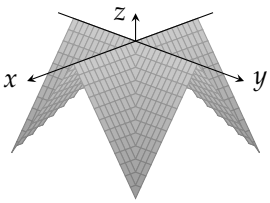

شکل ۱۳.۵۵: چوکور خطہ $|x| \leq a, |y| \leq a$ پر ''تفاعل چھت'' $z = \frac{1}{2}\left(\left||x|-|y|\right|-|x|-|y|\right)$ کی زیادہ سے زیادہ قیمت 0 اور کم سے کم قیمت $-a$ ہے۔

تفرقی پرکھ

واحد متغیری تفاعل کا مقامی انتہائی نقطہ تلاش کرنے کی خاطر ہم ان نقطوں پر نظر رکھتے ہیں جہاں اس تفاعل کا مماس افقی ہو۔ان نقطوں پر ہم مقامی مطلق زیادہ سے زیادہ قیمت، مطلق کم سے کم قیمت یا نقطہ زین تلاش کرتے ہیں۔دو متغیری تفاعل $z = f(x,y)$ کے لئے ہم ان نقطوں پر نظر رکھتے ہیں جہاں اس تفاعل کا مماسی مستوی افقی ہو۔ان نقطوں پر ہم مقامی مطلق زیادہ سے زیادہ قیمت، مطلق کم سے کم قیمت یا نقطہ زین تلاش کرتے ہیں۔(نقطہ زین پر مزید بات جلد کی جائے گی۔)

تعریفات: فرض کریں خطہ R ، جس میں نقطہ (a,b) پایا جاتا ہو، میں تفاعل $f(x,y)$ معین ہے۔تب

۱. اگر کھلا قرص، جس کا مرکز (a,b) ہو، میں دائرہ کار کے تمام نقاط (x,y) پر $f(a,b) \geq f(x,y)$ ہو تب $f(a,b)$ تفاعل f کا مقامی زیادہ سے زیادہ قیمت نقطہ ہو گا۔

۲. اگر کھلا قرص، جس کا مرکز (a,b) ہو، میں دائرہ کار کے تمام نقاط (x,y) پر $f(a,b) \leq f(x,y)$ ہو تب $f(a,b)$ تفاعل f کا مقامی کم سے کم قیمت نقطہ ہو گا۔

□

مقامی زیادہ سے زیادہ قیمت نقطہ کو سطح $z = f(x,y)$ پر پہاڑی جبکہ مقامی کم سے کم نقطہ کو وادی میں گھاٹی تصور کیا جا سکتا ہے۔ایسے نقطوں پر مماسی مستوی افقی ہوں گے، بشرطیکہ یہ موجود ہوں۔

واحد متغیر تفاعل کی طرح، مقامی انتہا کی تلاش ایک رتبی تفرقی پرکھ پر منحصر ہو گا۔

مسئلہ ۱۳.۷: **مقامی انتہائی قیمت کا یک رتبی تفرقی پرکھ** اگر تفاعل $f(x,y)$ کے دائرہ کار کی اندرونی نقطہ (a,b) پر مقامی زیادہ سے زیادہ یا کم سے کم قیمت پائی جاتی ہو، اور اگر تفاعل کے یک رتبی تفرقات موجود ہوں، تب $f_x(a,b) = 0$ اور $f_y(a,b) = 0$ ہوں گے۔

ثبوت: فرض کریں تفاعل f کی دائرہ کار کے ایک اندرونی نقطہ (a,b) پر تفاعل کی مقامی زیادہ سے زیادہ قیمت پائی جاتی ہے۔تب

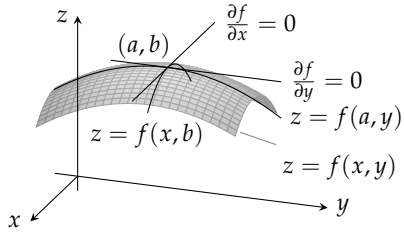

شکل ۱۳.۵۶: تفاعل f کی زیادہ سے زیادہ قیمت $x = a$ ، $y = b$ پر ہے۔

۱. مستوی $y = b$ سطح $z = f(x,y)$ کو جس منحنی $z = f(x,b)$ میں قطع کرتا ہے، نقطہ $x = a$ اس منحنی کے دائرہ کار کا اندرونی نقطہ ہو گا (شکل ۱۳.۵۶)۔

۲. نقطہ $x = a$ پر تفاعل $z = f(x,b)$ متغیر x کے لحاظ سے قابل تفرق ہو گا (اور یہ تفرق $f_x(a,b)$ ہو گا)۔

۳. نقطہ $x = a$ پر تفاعل $z = f(x,b)$ کی مقامی زیادہ سے زیادہ قیمت پائی جائے گی۔

۴. یوں $x = a$ پر $z = f(x,b)$ کا تفرق صفر ہو گا (مسئلہ ۴.۲)۔ چونکہ یہ تفرق $f_x(a,b)$ ہے لہٰذا $f_x(a,b) = 0$ ہو گا۔ نقطہ $x = a$ منحنی $z = f(x,b)$ کے دائرہ کار کا اندرونی نقطہ ہو گا۔

تفاعل $z = f(a,y)$ لیتے ہوئے اسی طرح کی دلیل سے $f_y(a,b) = 0$ ثابت کیا جا سکتا ہے۔

یوں مقامی زیادہ سے زیادہ قیمت کے لئے مسئلے کا ثابت مکمل ہوتا ہے۔ مقامی کم سے کم قیمت کے لئے مسئلے کا ثبوت آپ سے سوالات میں مانگا گیا ہے۔

□

نقطہ (a,b) پر سطح $z = f(x,y)$ کے مماسی مستوی کی مساوات

$$f_x(a,b)(x-a) + f_y(a,b)(y-b) - (z - f(a,b)) = 0$$

میں $f_x(a,b) = 0$ اور $f_y(a,b) = 0$ پر کرنے سے

$$0 \cdot (x-a) + 0 \cdot (y-b) - z + f(a,b) = 0$$

یعنی

$$z = f(a,b)$$

حاصل ہوتا ہے۔ اس طرح مسئلہ ۱۳.۷ کہتا ہے کہ مقامی انتہا پر یقیناً افقی مماسی مستوی ہو گا، بشرطیکہ اس نقطہ پر مماسی مستوی موجود ہو۔

واحد متغیر تفاعل کی صورت کی طرح، مسئلہ ۱۳.۷ کہتا ہے کہ تفاعل $f(x,y)$ کی انتہائی قیمت صرف اور صرف درج ذیل نقطوں پر پائی جا سکتی ہے:

۱. اندرونی نقاط جہاں $f_x = f_y = 0$ ہو،

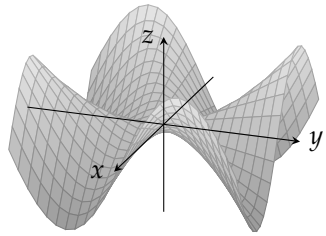

شکل ۱۳.۵۷: $z = \frac{xy(x^2-y^2)}{x^2+y^2}$

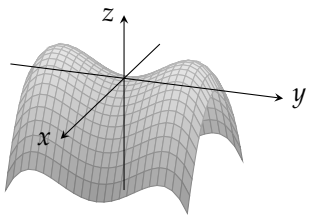

شکل ۱۳.۵۸: $z = y^2 - y^4 - x^2$

شکل ۱۳.۵۹: مبدا پر نقاط زین۔

۲. اندرونی نقاط جہاں f_x اور f_y میں سے ایک یا دونوں غیر موجود ہوں،

۳. تفاعل کے دائرہ کار کے سرحدی نقاط۔

تعریف: تفاعل $f(x,y)$ کے دائرہ کار کا وہ اندرونی نقطہ جہاں f_x اور f_y دونوں صفر ہوں یا جہاں f_x اور f_y میں سے ایک یا دونوں غیر موجود ہوں، f کا **نقطہ فاصل**[۴۲] ہو گا۔

□

اس طرح تفاعل $f(x,y)$ کی انتہائی قیمتیں صرف نقاط فاصل اور سرحدی نقاط پر پائی جائیں گی۔ واحد متغیر کے قابل تفرق تفاعل کی طرح، ضروری نہیں کہ ہر نقطہ فاصل پر مقامی انتہا ہو۔ واحد متغیر کے قابل تفرق تفاعل کا نقطہ تصریف ممکن ہے۔ دو متغیرات کے قابل تفرق تفاعل کا نقطہ زین ممکن ہو گا۔

تعریف: نقطہ فاصل (a,b) پر اس صورت قابل تفرق تفاعل $f(x,y)$ کا **نقطہ زین**[۴۳] پایا جائے گا جب ہر کھلے قرص میں، جس کا مرکز (a,b) ہو، ایسے دائرہ کاری نقاط (x,y) پائے جاتے ہوں جن پر $f(x,y) > f(a,b)$ ہو، اور ایسے دائرہ کاری نقاط (x,y) پائے جاتے ہوں جن پر $f(x,y) < f(a,b)$ ہو۔ سطح $z = f(x,y)$ پر مطابقتی نقطہ $(a,b,f(a,b))$ اس سطح کا نقطہ زین کہلاتا ہے (شکل ۱۳.۵۹)۔

□

مثال ۱۳.۵۰: تفاعل $f(x,y) = x^2 + y^2$ کی مقامی انتہائی قیمتیں تلاش کریں۔

حل: پورا مستوی xy تفاعل f کا دائرہ کار ہے (لہٰذا کوئی سرحدی نقاط نہیں پائے جاتے ہیں) اور جزوی تفرقات $f_x = 2x$ اور $f_y = 2y$ ہر نقطہ پر موجود ہوں گے۔ یوں مقامی انتہائی قیمتیں صرف اس صورت ممکن ہوں گی جب

$$f_y = 2y = 0 \quad \text{اور} \quad f_x = 2x = 0$$

---

[۴۲] criticalpoint
[۴۳] saddlepoint

$z = x^2 + y^2$

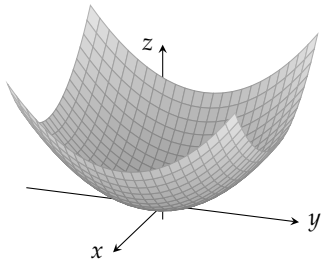

شکل ۱۳.۶۰: تفاعل $f(x,y) = x^2 + y^2$ کی ترسیم قطع مکافی سطح $z = x^2 + y^2$ ہے۔ اس تفاعل کا ایک فاصل نقطہ پایا جاتا ہے، جو مبدا پر ہے اور جس پر مقامی کم سے کم قیمت 0 پائی جاتی ہے۔

$z = y^2 - x^2$

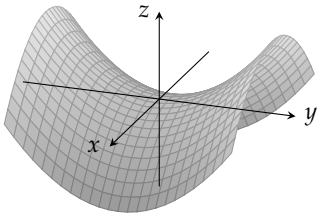

شکل ۱۳.۶۱: مبدا اس تفاعل کا نقطہ زین ہے۔ اس تفاعل کے کوئی بھی مقامی انتہائی قیمتیں موجود نہیں ہیں۔

ہوں۔ ایسا صرف مبدا پر ممکن ہے جہاں f کی قیمت 0 ہے۔ چونکہ f کبھی بھی منفی نہیں ہو سکتا ہے لہٰذا مبدا پر تفاعل کی کم سے کم قیمت پائی جائے گی (شکل ۱۳.۶۰)۔ □

مثال ۱۳.۵۱: تفاعل $f(x,y) = y^2 - x^2$ کی انتہائی قیمتیں، اگر موجود ہوں، تلاش کریں۔

حل: پورا مستوی xy تفاعل f کا دائرہ کار ہے (لہٰذا کوئی سرحدی نقاط نہیں پائے جاتے ہیں) اور جزوی تفرقات $f_x = -2x$ اور $f_y = 2y$ ہر نقطہ پر موجود ہوں گے۔ یوں مقامی انتہا قیمت صرف مبدا پر ممکن ہے۔ البتہ، مثبت x محور پر f کی قیمت $f(x,0) = -x^2 < 0$ اور مثبت y محور پر اس کی قیمت $f(0,y) = y^2 > 0$ ہو گی۔ یوں مستوی xy میں ہر کھلا قرص، جس کا مرکز $(0,0)$ ہو، میں ایسا نقاط پائے جاتے ہیں جہاں f مثبت ہو اور ایسے نقاط بھی پائے جاتے ہیں جہاں f منفی ہو۔ اس طرح مبدا پر مقامی انتہائی قیمت کے بجائے تفاعل کا نقطہ زین پایا جاتا ہے (شکل ۱۳.۶۱)۔ ہم دیکھتے ہیں کہ اس تفاعل کی کوئی مقامی انتہائی قیمت نہیں پائی جاتی ہے۔ □

ہم دائرہ کار R کے اندرونی نقطہ (a,b) پر $f_x = f_y = 0$ جانتے ہوئے یہ نہیں کہہ سکتے ہیں کہ آیا اس نقطہ پر انتہائی قیمت پائی جاتی ہے۔ البتہ اگر R پر f اور اس کے یک رتبی اور دو رتبی جزوی تفرقات استمراری ہوں تب ہم باقی معلومات درج ذیل مسئلہ (جسے حصہ ۱۳.۱۰ میں ثابت کیا گیا ہے) سے دریافت کر سکتے ہیں۔

مسئلہ ۱۳.۸: **مقامی انتہائی قیمت کا دو رتبی تفرقی پرکھ**

فرض کریں کہ ایک قرص میں، جس کا مرکز (a,b) ہے، تفاعل f اور اس کے یک رتبی اور دو رتبی جزوی تفرقات ہر نقطہ پر استمراری ہیں اور $f_x(a,b) = f_y(a,b) = 0$ ہے۔ اب

۱. اگر (a,b) پر $f_{xx} < 0$ اور $f_{xx}f_{yy} - f_{xy}^2 > 0$ ہوں تب (a,b) پر f کی **مقامی زیادہ سے زیادہ قیمت**[۴۴] پائی جائے

[۴۴] localmaximum

گی۔

۲. اگر (a,b) پر $f_{xx} > 0$ اور $f_{xx}f_{yy} - f_{xy}^2 > 0$ ہوں تب (a,b) پر f کی **مقامی کم سے کم قیمت**[۴۵] پائی جائے گی۔

۳. اگر (a,b) پر $f_{xx}f_{yy} - f_{xy}^2 > 0$ ہو تب (a,b) پر f کا **نقطہ زین**[۴۶] پایا جائے گا۔

۴. اگر (a,b) پر $f_{xx}f_{yy} - f_{xy}^2 = 0$ ہو تب یہ پرکھ غیر فیصلہ کن ہو گا اور ہمیں (a,b) پر f کا رویہ کسی دوسرے طریقہ سے جاننا ہو گا۔

ہم $f_{xx}f_{yy} - f_{xy}^2$ کو f کا **ممیز**[۴۷] کہتے ہیں جس کو درج ذیل مقطع کی صورت میں یاد رکھنا زیادہ آسان ہے۔

$$f_{xx}f_{yy} - f_{xy}^2 = \begin{vmatrix} f_{xx} & f_{xy} \\ f_{xy} & f_{yy} \end{vmatrix}$$

مسئلہ ۱۳.۸ کہتا ہے کہ (a,b) پر مثبت ممیز کی صورت میں سطح تمام اطراف ایک ہی رخ مڑتا ہے: $f_{xx} < 0$ کی صورت میں یہ نیچے کو مڑتا ہے جس کی وجہ سے مقامی زیادہ سے زیادہ قیمت پائی جاتی ہے، اور $f_{xx} > 0$ کی صورت میں سطح اوپر کو مڑتا ہے جس کی وجہ سے اس نقطہ پر کم سے کم قیمت پائی جاتی ہے۔ اس کے برعکس (a,b) پر منفی ممیز کی صورت میں سطح بعض اطراف اوپر اور بعض اطراف نیچے مڑتا ہے جس کی وجہ سے (a,b) پر نقطہ زین پایا جاتا ہے۔

مثال ۱۳.۵۲: درج ذیل تفاعل کے مقامی انتہائی قیمتیں تلاش کریں۔

$$f(x,y) = xy - x^2 - y^2 - 2x - 2y + 4$$

حل: یہ تفاعل تمام x اور y پر معین اور قابل تفرق ہے اور اس کے دائرہ کار کا کوئی سرحدی نقطہ نہیں پایا جاتا ہے۔ یوں اس تفاعل کے انتہائی نقاط صرف وہاں ممکن ہوں گے جہاں f_x اور f_y دونوں بیک وقت صفر ہوں۔ اس سے

$$f_x = y - 2x - 2 = 0, \quad f_y = x - 2y - 2 = 0$$

یعنی

$$x = y = -2$$

ملتا ہے۔ یوں $(-2,-2)$ وہ واحد نقطہ ہے جہاں f کی انتہائی قیمت ممکن ہے۔ یہ دیکھنے کی خاطر کہ ایسا ہے، ہمیں درج ذیل معلوم کرنا ہو گا۔

$$f_{xx} = -2, \quad f_{yy} = -2, \quad fxy = 1$$

---

[۴۵] localminimum
[۴۶] saddlepoint
[۴۷] descriminant

۲۱۵۰۵ نقطہ $(a,b) = (-2,-2)$ پر f کا ممیز

$$f_{xx}f_{yy} - f_{xy}^2 = (-2)(-2) - (1)^2 = 4 - 1 - 3$$

۲۱۵۰۶ ہو گا۔ یوں

$$f_{xx}f_{yy} - f_{xy}^2 > 0 \quad \text{اور} \quad f_{xx} < 0$$

۲۱۵۰۷ کو دیکھ کر ہم کہہ سکتے ہیں کہ $(-2,-2)$ پر f کی مقامی زیادہ سے زیادہ قیمت ہو گی جو $f(-2,-2) = 8$ کے برابر ہو گی۔ □

۲۱۵۰۸ مثال ۱۳.۵۳: تفاعل $f(x,y) = xy$ کی مقامی انتہائی قیمتیں تلاش کریں۔

۲۱۵۰۹ حل: چونکہ f ہر نقطہ پر قابل تفرق ہے (شکل ۱۳.۶۲) لہٰذا اس کی انتہائی قیمتیں صرف ان نقطوں پر پائی جائیں گی جہاں

$$f_y = x = 0 \quad \text{اور} \quad f_x = y = 0$$

۲۱۵۱۰ ہوں۔ یوں مبدا وہ واحد نقطہ ہے جہاں تفاعل کی انتہائی قیمت ممکن ہے۔ اس نقطہ پر تفاعل کا رویہ جاننے کی خاطر ہم درج ذیل معلوم کرتے ہیں۔

$$f_{xx} = 0, \quad f_{yy} = 0, \quad f_{xy} = 1$$

۲۱۵۱۱ یوں ممیز

$$f_{xx}f_{yy} - f_{xy}^2 = -1$$

۲۱۵۱۲ منفی ہے لہٰذا $(0,0)$ پر نقطہ زین پایا جائے گا۔ ہم کہہ سکتے ہیں کہ تفاعل $f(x,y) = xy$ کی کوئی مقامی انتہائی قیمت نہیں پائی جاتی ہے۔ □

۲۱۵۱۳ **بند اور محدود خطہ میں مطلق زیادہ سے زیادہ اور کم سے کم نقاط**

۲۱۵۱۴ ہم بند اور محدود خطہ R میں تفاعل $f(x,y)$ کی مطلق انتہائی قیمتوں کی تلاش تین قدموں میں کرتے ہیں۔

۲۱۵۱۵ قدم 1: خطہ R کی ان اندرونی نقاط کے سلسلہ پر f کی قیمتیں تلاش کریں جہاں f کے مقامی انتہائی قیمت متوقع ہو۔ یہ وہ نقطے ہوں گے جہاں $f_x =$
۲۱۵۱۶ $f_y = 0$ ہو یا جہاں f_x اور f_y دونوں یا ان میں سے ایک غیر موجود ہو (جو f کا نقطہ زین ہو گا)۔

۲۱۵۱۷ قدم 2: خطہ R کی ان سرحدی نقاط کے سلسلہ پر f کی قیمتیں تلاش کریں جہاں f کی مقامی انتہائی قیمتیں متوقع ہوں۔ اس قدم کی تفصیل جلد فراہم کی
۲۱۵۱۸ جائے گی۔

۲۱۵۱۹ قدم 3: نقطوں کے دونوں سلسلوں پر f کی قیمتوں کو دیکھ کر زیادہ سے زیادہ اور کم سے کم قیمتیں معلوم کریں۔ یہ قیمتیں R پر f کی مطلق زیادہ سے زیادہ
۲۱۵۲۰ اور مطلق کم سے کم قیمتیں ہوں گی۔ چونکہ مطلق انتہائی قیمتیں مقامی انتہائی قیمتیں بھی ہوتی ہیں لہٰذا مطلق انتہائی قیمتیں پہلے دو قدموں میں کہیں نا
۲۱۵۲۱ کہیں پائی جائیں گی۔

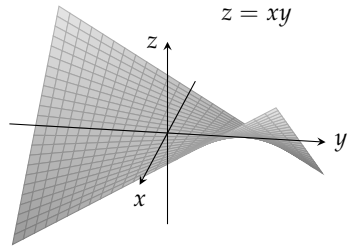

شکل ۱۳.۶۲: مبدا پر $z = xy$ کا نقطہ زین پایا جاتا ہے۔

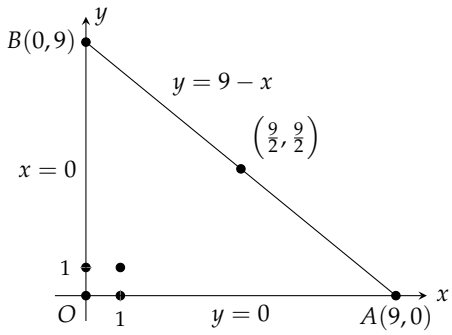

شکل ۱۳.۶۳: تکونی خطہ میں تفاعل کی انتہائی قیمتوں کی تلاش (مثال ۱۳.۵۴)۔

مثال ۱۳.۵۴: ربع اول میں $x = 0$ ، $y = 0$ اور $y = 9 - x$ لکیروں کے بیچ تکونی خطہ میں درج ذیل تفاعل کی مطلق زیادہ سے زیادہ اور مطلق کم سے کم قیمت تلاش کریں۔

$$f(x,y) = 2 + 2x + 2y - x^2 - y^2$$

حل: چونکہ f قابل تفرق ہے لہٰذا مطلق انتہائی قیمتیں صرف تکونی خطہ کی سرحدی نقاط پر یا خطہ کے اندر وہاں ممکن ہوں گی جہاں $f_x = f_y = 0$ ہو (شکل ۱۳.۶۳)۔

اندرونی نقاط: ان کے لئے

$$f_x = 2 - 2x = 0, \quad f_y = 2 - 2y = 0$$

سے $(x,y) = (1,1)$ حاصل ہوتا ہے جہاں $f(1,1) = 4$ ہو گا۔ سرحدی نقاط: ہم ایک وقت میں تکون کا ایک ضلع لیتے ہیں۔

۱. قطعہ OA پر $y = 0$ لہٰذا تفاعل

$$f(x,y) = f(x,0) = 2 + 2x - x^2$$

ہو گا جس کو اب ہم واحد متغیر x کا تفاعل تصور کر سکتے ہیں اور جس کا دائرہ کار $0 \leq x \leq 9$ ہو گا۔ جیسا ہم باب ۴ سے جانتے ہیں، اس کی انتہائی قیمتیں آخری سروں پر

$$f(0,0) = 2 \quad \text{جہاں} \quad x = 0$$
$$f(9,0) = 2 + 18 - 81 = -61 \quad \text{جہاں} \quad x = 9$$

اور اندرونی نقاط پر جہاں $f'(x,0) = 2 - 2x = 0$ ہو۔ وہ واحد اندرونی نقطہ جہاں $f'(x,0) = 0$ ہو $x = 1$ ہے جہاں $f(x,0) = f(1,0) = 3$ ہے۔

۲. قطعہ OB پر $x = 0$ لہٰذا

$$f(x,y) = f(0,y) = 2 + 2y - y^2$$

ہو گا۔ ہم x اور y میں f کی تشاکلی سے، مذکورہ بالا کی بنا، توقع کرتے ہیں کہ یہ نقاط درج ذیل ہوں گے۔

$$f(0,0) = 2, \quad f(0,9) = -61, \quad f(0,1) = 3$$

۳. ہم AB کے آخری سروں پر f کی قیمت پر غور کر چکے ہیں لہٰذا ہمیں صرف AB کی اندرونی نقطوں پر غور کرنا ہو گا۔ اب $y = 9 - x$ لیتے ہوئے

$$f(x,y) = 2 + 2x + 2(9-x) - x^2 - (9-x)^2 = -61 + 18x - 2x^2$$

ہو گا۔ یوں $f'(x, 9-x) = 18 - 4x = 0$ سے $x = \frac{18}{4} = \frac{9}{2}$ حاصل ہو گا جس پر

$$f(x,y) = f(\frac{9}{2}, \frac{9}{2} = -\frac{41}{2}) \quad \text{اور} \quad y = 9 - \frac{9}{2} = \frac{9}{2}$$

ہوں گے۔

خلاصہ: ہم تمام متوقع قیمتوں کے سلسلہ $4, 2, -61, 3, -\frac{41}{2}$ کو دیکھ کر زیادہ سے زیادہ قیمت 4 معلوم کرتے ہیں جو نقطہ $(1,1)$ پر پائی جاتی ہے۔ اسی طرح کم سے کم قیمت -61 نقاط (0.9) اور $(9,0)$ پر پائی جاتی ہے۔ □

نتیجہ

اگرچہ مسئلہ ۱۳.۸ طاقتور ہے لیکن اس کی کمزوری کو نہ بھولیں۔ یہ تفاعل کے دائرہ کار کے سرحدی نقطوں پر کارآمد نہیں ہوتا ہے جہاں تفاعل کے انتہائی قیمتیں اور غیر صفر تفرقات پائے جا سکتے ہیں۔ ساتھ ہی اگر f_x یا f_y غیر موجود ہو تب بھی یہ مسئلہ کارآمد نہیں ہو گا۔

زیادہ سے زیادہ، کم سے کم پرکھ کا خلاصہ

تفاعل $f(x,y)$ کی انتہائی قیمتیں صرف درج ذیل نقطوں پر ممکن ہیں۔

۱. تفاعل f کے **سرحدی نقاط**،

۲. نقاط فاصل (اندرونی نقاط جہاں $f_x = f_y = 0$ ہو یا f_x اور یا f_y غیر موجود ہو)

اگر ایک قرص میں، جس کا مرکز (a,b) ہو، ہر نقطہ پر f کے یک رتبی اور دو رتبی جزوی تفرقات استراری ہوں اور $f_x(a,b) = f_y(a,b) = 0$ ہو، آپ $f(a,b)$ کی جماعت بندی **دو رتبی تفرقی پرکھ** سے کر پائیں گے:

۱. اگر (a,b) پر $f_{xx} < 0$ اور $f_{xx}f_{yy} - f_{xy}^2 > 0$ ہوں تب **مقامی زیادہ سے زیادہ قیمت** پائی جائے گی۔

۲. اگر (a,b) پر $f_{xx} > 0$ اور $f_{xx}f_{yy} - f_{xy}^2 > 0$ ہوں تب **مقامی کم سے کم قیمت** پائی جائے گی۔

۳. اگر (a,b) پر $f_{xx}f_{yy} - f_{xy}^2 < 0$ ہو تب **نقطہ زین** پایا جائے گا۔

۴. اگر (a,b) پر $f_{xx}fyy - f_{xy}^2 = 0$ ہو پرکھ **غیر فیصلہ کن** ہو گا۔

سوالات

مقامی انتہا کی تلاش

سوال ۱۳.۳۷۵ تا سوال ۱۳.۴۰۴ میں تفاعل کے تمام مقامی زیادہ سے زیادہ قیمت نقاط، مقامی کم سے کم قیمت نقاط اور نقاط زین تلاش کریں۔

سوال ۱۳.۳۷۵: $f(x,y) = x^2 + xy + y^2 + 3x - 3y + 4$

سوال ۱۳.۳۷۶: $f(x,y) = x^2 + 3xy + 3y^2 - 6x + 3y - 6$

سوال ۱۳.۳۷۷: $f(x,y) = 2xy - 5x^2 - 2y^2 + 4x + 4y - 4$

سوال ۱۳.۳۷۸: $f(x,y) = 2xy - 5x^2 - 2y^2 + 4x - 4$

سوال ۱۳.۳۷۹: $f(x,y) = x^2 + xy + 3x + 2y + 5$

سوال ۱۳.۳۸۰: $f(x,y) = y^2 + xy - 2x - 2y + 2$

سوال ۱۳.۳۸۱: $f(x,y) = 5xy - 7x^2 + 3x - 6y + 2$

سوال ۱۳.۳۸۲: $f(x,y) = 2xy - x^2 - 2y^2 + 3x + 4$

سوال ۱۳.۳۸۳: $f(x,y) = x^2 - 4xy + y^2 + 6y + 2$

سوال ۱۳.۳۸۴: $f(x,y) = 3x^2 + 6xy + 7y^2 - 2x + 4y$

سوال ۱۳.۳۸۵: $f(x,y) = 2x^2 + 3xy + 4y^2 - 5x + 2y$

سوال ۱۳.۳۸۶: $f(x,y) = 4x^2 - 6xy + 5y^2 - 20x + 26y$

سوال ۱۳.۳۸۷: $f(x,y) = x^2 - y^2 - 2x + 4y + 6$

سوال ۱۳.۳۸۸: $f(x,y) = x^2 - 2xy + 2y^2 - 2x + 2y + 1$

سوال ۱۳.۳۸۹: $f(x,y) = x^2 + 2xy$

سوال ۱۳.۳۹۰: $f(x,y) = 3 + 2x + 2y - 2x^2 - 2xy - y^2$

سوال ۱۳.۳۹۱: $f(x,y) = x^3 - y^3 - 2xy + 6$

سوال ۱۳.۳۹۲: $f(x,y) = x^3 + 3xy + y^3$

سوال ۱۳.۳۹۳: $f(x,y) = 6x^2 - 2x^3 + 3y^2 + 6xy$

سوال ۱۳.۳۹۴: $f(x,y) = 3y^2 - 2y^3 - 3x^2 + 6xy$

سوال ۱۳.۳۹۵: $f(x,y) = 9x^3 + \frac{y^3}{3} - 4xy$

سوال ۱۳.۳۹۶: $f(x,y) = 8x^3 + y^3 + 6xy$

سوال ۱۳.۳۹۷: $f(x,y) = x^3 + y^3 + 3x^2 - 3y^2 - 8$

سوال ۱۳.۳۹۸: $f(x,y) = 2x^3 + 2y^3 - 9x^2 + 3y^2 - 12y$

سوال ۱۳.۳۹۹: $f(x,y) = 4xy - x^4 - y^4$

سوال ۱۳.۴۰۰: $f(x,y) = x^4 + y^4 + 4xy$

سوال ۱۳.۴۰۱: $f(x,y) = \frac{1}{x^2+y^2-1}$

سوال ۱۳.۴۰۲: $f(x,y) = \frac{1}{x} + xy + \frac{1}{y}$

سوال ۱۳.۴۰۳: $f(x,y) = y \sin x$

سوال ۱۳.۴۰۴: $f(x,y) = e^{2x} \cos y$

مطلق انتہا کی تلاش

سوال ۱۳.۴۰۵ تا سوال ۱۳.۴۱۲ میں تفاعل کی مطلق انتہا دیے گئے خطہ میں تلاش کریں۔

سوال ۱۳.۴۰۵: تفاعل $f(x,y) = 2x^2 - 4x + y^2 - 4y + 1$؛ ربع اول میں بند تکون، جس کے سرحد $x = 0$ ، $y = 2$ اور $y = 2x$ ہیں۔

سوال ۱۳.۴۰۶: تفاعل $f(x,y) = x^2 - xy + y^2 + 1$؛ ربع اول میں بند تکون، جس کے اطراف $x = 0$ ، $y = 4$ اور $y = x$ ہیں۔

سوال ۱۳.۴۰۷: تفاعل $f(x,y) = x^2 + y^2$؛ ربع اول میں بند تکون، جس کے اطراف $x = 0$ ، $y = 0$ اور $y + 2x = 2$ ہیں۔

سوال ۱۳.۴۰۸: تفاعل $T(x,y) = x^2 + xy + y^2 - 6x$؛ مستطیل پٹی $0 \le x \le 5,\ -3 \le y \le 3$ پر۔

سوال ۱۳.۴۰۹: تفاعل $T(x,y) = x^2 + xy + y^2 - 6x + 2$؛ مستطیل $0 \le x \le 5,\ -3 \le y \le 0$ پر۔

سوال ۱۳.۴۱۰: تفاعل $f(x,y) = 48xy - 32x^3 - 24y^2$؛ مستطیل $0 \le x \le 1,\ 0 \le y \le 1$ پر۔

سوال ۱۳.۴۱۱: تفاعل $f(x,y) = (4x - x^2)\cos y$؛ مستطیل $1 \le x \le 3,\ -\frac{\pi}{4} \le y \le \frac{\pi}{4}$ پر۔

سوال ۱۳.۴۱۲: تفاعل $f(x,y) = 4x - 8xy + 2y + 1$، اضلاع $x = 0$ ، $y = 0$ اور $x + y = 1$ میں بند تکونی خطہ میں۔

سوال ۱۳.۴۱۳: دو ایسے اعداد a اور b ، جہاں $a \le b$ ہو، تلاش کریں تاکہ درج ذیل کی قیمت زیادہ سے زیادہ ہو۔

$$\int_a^b (6 - x - x^2)\,\mathrm{d}x$$

سوال ۱۳.۴۱۴: دو ایسے اعداد a اور b، جہاں $a \leq b$ ہو، تلاش کریں تاکہ درج ذیل کی قیمت زیادہ سے زیادہ ہو۔

$$\int_a^b (24 - 2x - x^2)^{1/3}\,\mathrm{d}x$$

سوال ۱۳.۴۱۵: درجہ حرارت

ایک دائری پٹی $x^2 + y^2 \leq 1$ اور اس کی سرحد $x^2 + y^2 = 1$ کو یوں گرم کیا جاتا ہے کہ نقطہ (x, y) پر درجہ حرارت $T(x, y) = x^2 + 2y^2 - x$ ہو۔ اس پٹی پر زیادہ سے زیادہ اور کم سے کم درجہ حرارت تلاش کریں۔

سوال ۱۳.۴۱۶: کھلا ربع اول $x > 0,\ y > 0$ میں $f(x, y) = xy + 2x - \ln x^2 y$ کا نقطہ فاصل تلاش کریں اور دکھائیں کہ اس نقطہ پر تفاعل کی قیمت کم سے کم ہو گی۔

نظریہ اور مثالیں

سوال ۱۳.۴۱۷: درج ذیل معلومات استعمال کرتے ہوئے زیادہ سے زیادہ قیمت نقاط، کم سے کم قیمت نقاط اور نقاط زین، اگر موجود ہوں، تلاش کریں۔

ا. $f_x = 2x - 4y, \quad f_y = 2y - 4x$

ب. $f_x = 2x - 2, \quad f_y = 2y - 4$

ج. $f_x = 9x^2 - 9, \quad f_y = 2y + 4$

ہر جواب کی وجہ بیان کریں۔

سوال ۱۳.۴۱۸: درج ذیل تفاعل کے لئے مبدا پر ممیز $f_{xx}f_{yy} - f_{xy}^2$ صفر ہے لہٰذا دور تبی تفرقی پرکھ غیر فیصلہ کن ہو گا۔ مبدا پر سطح $z = f(x, y)$ کی ذہنی تصویر کشی کرتے ہوئے دریافت کریں کہ مبدا پر زیادہ سے زیادہ قیمت نقطہ، کم سے کم قیمت نقطہ یا نقطہ زین پایا جائے گا۔ ہر جواب کی وجہ پیش کریں۔

ا. $f(x, y) = x^2y^2$

ب. $f(x, y) = 1 - x^2y^2$

ج. $f(x, y) = xy^2$

د. $f(x, y) = x^3y^2$

ھ. $f(x, y) = x^3y^3$

و. $f(x, y) = x^4y^4$

سوال ۱۳.۴۱۹: دکھائیں کہ k کی ہر قیمت کے لئے $(0, 0)$ تفاعل $f(x, y) = x^2 + kxy + y^2$ کا نقطہ فاصل ہو گا۔ (اشارہ: دو صورتوں پر غور کریں: $k = 0$ اور $k \neq 0$)

سوال ۱۳.۴۲۰: مستقل k کی کن قیمتوں کے لئے دور تبی تفرقی پرکھ ضمانت دیتا ہے کہ $(0, 0)$ پر درج ذیل تفاعل کا (ا) نقطہ زین (ب) مقامی کم سے کم قیمت کا نقطہ پایا جائے گا؟

$$f(x, y) = x^2 + kxy + y^2$$

مستقل k کی کن قیمتوں کے لئے دور تبی تفرقی پرکھ غیر فیصلہ کن ہو گا؟ اپنے جوابات کی وجہ پیش کریں۔

سوال ۱۳.۴۲۱: (ا) کیا $f_x(a,b) = f_y(a,b) = 0$ ہوتے ہوئے ہر صورت (a,b) پر f کا مقامی زیادہ سے زیادہ قیمت نقطہ یا کم سے کم قیمت نقطہ پایا جائے گا؟ اپنے جواب کی وجہ پیش کریں۔ (ب) اگر ایک قرص میں، جس کا مرکز (a,b) ہو، ہر نقطہ پر f اور اس کے یک رتبی اور دو رتبی جزوی تفرقات استمراری ہوں، اور $f_{xx}(a,b)$ اور $f_{yy}(a,b)$ کی علامتیں ایک دوسرے سے مختلف ہوں تب کیا f کے بارے میں کچھ کہنا ممکن ہو گا؟ اپنے جواب کی وجہ پیش کریں۔

سوال ۱۳.۴۲۲: نقطہ (a,b) پر f کا مقامی زیادہ سے زیادہ قیمت نقطہ ہونے کی صورت میں مسئلہ ۱۳.۷ کا دیا گیا ثبوت استعمال کرتے ہوئے اس مسئلہ کو (a,b) پر مقامی کم سے کم قیمت نقطہ ہونے کی صورت کے لئے ثابت کریں۔

سوال ۱۳.۴۲۳: مستوی $x + 2y + 3z = 0$ سے زیادہ بلندی پر $z = 10 - x^2 - y^2$ کی ترسیم کے تمام نقاط میں وہ نقطہ تلاش کریں جو اس مستوی سے دور ترین ہو۔

سوال ۱۳.۴۲۴: مستوی $x + 2y - z = 0$ سے $z = x^2 + y^2 + 10$ کی ترسیم کا قریب ترین نقطہ تلاش کریں۔

سوال ۱۳.۴۲۵: بند ربع اول $x \geq 0,\ y \geq 0$ میں تفاعل $f(x,y) = x + y$ کی کوئی مطلق زیادہ سے زیادہ قیمت نہیں پائی جاتی ہے۔ کیا اس حقیقت میں اور کتاب میں مطلق انتہا کی تلاش پر کی گئی گفتگو میں تضاد پایا جاتا ہے؟ اپنے جواب کی وجہ پیش کریں۔

سوال ۱۳.۴۲۶: مربع $0 \leq x \leq 1,\ 0 \leq y \leq 1$ میں تفاعل $f(x,y) = x^2 + y^2 + 2xy - x - y + 1$ پر غور کریں۔

ا. دکھائیں کہ اس مربع میں خطی قطعہ $2x + 2y = 1$ پر f کی مطلق کم سے کم قیمت پائی جاتی ہے۔ اس کم سے کم قیمت کو تلاش کریں۔

ب. مربع پر f کی مطلق زیادہ سے زیادہ قیمت تلاش کریں۔

مقدار معلوم منحنیات پر انتہائی قیمتیں

منحنی $x = x(t),\ y = y(t)$ پر تفاعل $f(x,y)$ کی انتہائی قیمتیں تلاش کرنے کی خاطر ہم f کو واحد متغیر t کا تفاعل تصور کرتے ہوئے زنجیری قاعدہ سے $\frac{\mathrm{d}f}{\mathrm{d}t}$ معلوم کر کے صفر کے برابر رکھتے ہیں۔ کسی بھی واحد متغیر تفاعل کی طرح، انتہائی قیمتوں کو درج ذیل نقطوں پر تلاش کیا جاتا ہے۔

ا. نقطہ فاصل پر (جہاں $\frac{\mathrm{d}f}{\mathrm{d}t}$ صفر ہو یا غیر موجود ہو)، اور

ب. مقدار معلوم دائرہ کار کے آخری سروں پر۔

سوال ۱۳.۴۲۷ تا سوال ۱۳.۴۳۰ میں تفاعل کی مطلق زیادہ سے زیادہ قیمت اور مطلق کم سے کم قیمتیں دی گئی منحنیات پر دریافت کریں۔

سوال ۱۳.۴۲۷: تفاعل:

ا. $f(x,y) = x + y$ ب. $g(x,y) = xy$ ج. $h(x,y) = 2x^2 + y^2$

منحنیات:

۲۱۲۵۷ ا. $x^2 + y^2 = 4,\ y \geq 0$ ۲۱۲۵۸ ب. $x^2 + y^2 = 4,\ x \geq 0,\ y \geq 0$

۲۱۲۵۹ مقدار معلوم مساوات $x = 2\cos t,\ y = 2\sin t$ استعمال کریں۔

۲۱۲۶۰ سوال ۱۳.۴۲۸: تفاعل:

۲۱۲۶۱ ا. $f(x,y) = 2x + 3y$ ۲۱۲۶۲ ب. $g(x,y) = xy$ ۲۱۲۶۳ ج. $h(x,y) = x^2 + 3y^2$

۲۱۲۶۴ منحنیات:

۲۱۲۶۵ ا. $\frac{x^2}{9} + \frac{y^2}{4} = 1,\ y \geq 0$ ۲۱۲۶۶ ب. $\frac{x^2}{9} + \frac{y^2}{4} = 1,\ x \geq 0,\ y \geq 0$

۲۱۲۶۷ مقدار معلوم مساوات $x = 3\cos t,\ y = 2\sin t$ استعمال کریں۔

۲۱۲۶۸ سوال ۱۳.۴۲۹: تفاعل: $f(x,y) = xy$

۲۱۲۶۹ منحنیات:

۲۱۲۷۰ ا. $x = 2t,\ y = t + 1$ ۲۱۲۷۲ ج. $x = 2t,\ y = t + 1,\ 0 \leq t \leq 1$

۲۱۲۷۱ ب. $x = 2t,\ y = t + 1,\ -1 \leq t \leq 0$

۲۱۲۷۳ سوال ۱۳.۴۳۰: تفاعل:

۲۱۲۷۴ ا. $f(x,y) = x^2 + y^2$ ۲۱۲۷۵ ب. $g(x,y) = \frac{1}{x^2+y^2}$

۲۱۲۷۶ منحنیات:

۲۱۲۷۷ ا. $x = t,\ y = 2 - 2t$ ۲۱۲۷۸ ب. $x = t,\ y = 2 - 2t,\ 0 \leq t \leq 1$

۲۱۲۷۹ **کمتر مربعے اور خطوط رجعت**

۲۱۲۸۰ اعدادی نقاط مواد $(x_1, y_1), (x_2, y_2), \cdots, (x_n, y_n)$ پر سیدھا خط $y = mx + b$ بٹھاتے ہوئے ہم نقطوں سے خط تک افقی
۲۱۲۸۱ فاصلوں کے مربع کے مجموعہ کو کم سے کم رکھتے ہیں (شکل ۱۳.۶۴)۔ ایسا کرنے کی خاطر ہمیں m اور b کی وہ قیمتیں تلاش کرنی ہوں گی جو درج ذیل کی قیمت
۲۱۲۸۲ کم سے کم کرتے ہوں۔

$$w = (mx_1 + b - y_1)^2 + \cdots + (mx_n + b - y_n)^2 \tag{۱}$$

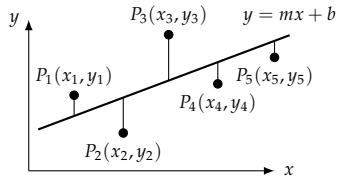

شکل ۱۳.۶۴: غیر ہم خطی نقاط پر سیدھا خط بٹھانے کے لئے ہم وہ لکیر منتخب کرتے ہیں جس میں انتصابی فرق کے مربع کا مجموعہ کم سے کم ہو۔

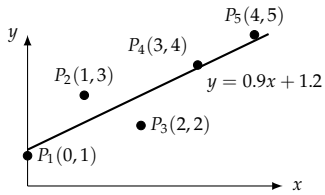

شکل ۱۳.۶۵: کمتر مربع خط۔

۲۱۹۸۳ یک رتبی اور دو رتبی تفرقی پرکھ سے m اور b کی مطلوبہ قیمتیں

$$m = \frac{(\sum x_k)(\sum y_k) - n \sum x_k y_k}{(\sum x_k)^2 - n \sum x_k^2} \tag{۲}$$

$$b = \frac{1}{n}(\sum y_k - m \sum x_k) \tag{۳}$$

۲۱۹۸۴ حاصل ہوتی ہیں جہاں تمام مجموعے $k = 1$ تا $k = n$ لئے جاتے ہیں۔ عموماً کیلکولیٹر میں یہ کلیات دیے گئے ہوں گے۔

۲۱۹۸۵ وہ خط $y = mx + b$ جس میں m اور b کی مذکورہ بالا قیمتیں استعمال کی گئی ہوں زیر غور مواد کا **خط رجعت**[۴۸] کہلاتا ہے۔ کمتر مربعی خط کی
۲۱۹۸۶ مدد سے (ا) آپ مواد کو ایک سادہ مساوات سے ظاہر کر پاتے ہیں، (ب) متغیر x کی دیگر قیمتوں کے لئے y کی قیمت کی پیش گوئی کر پاتے ہیں، (ج) اور مواد پر
۲۱۹۸۷ تحلیلی غور کر سکتے ہیں۔ مثال کے طور پر نقاط $(0, 1)$ ، $(1, 3)$ ، $(2, 2)$ ، $(3, 4)$ ، $(4, 5)$ کو جدول

۲۱۹۸۸

$x_k y_k$	x_k^2	y_k	x_k	k
0	0	1	0	1
3	1	3	1	2
4	4	2	2	3
12	9	4	3	4
20	16	5	4	5
39	30	15	10	$\sum$

۲۱۹۸۹ کی صورت میں لکھ کر

$$m = \frac{(10)(15) - 5(39)}{(10)^2 - 5(30)} = 0.9 \qquad \text{مساوات ۲}$$

$$b = \frac{1}{5}(15 - (0.9)(10)) = 1.2 \qquad \text{مساوات ۳}$$

۲۱۹۹۰ حاصل ہوں گے۔ یوں ان نقاطی مواد کا خط رجعت $y = 0.9x + 1.2$ ہوگا (شکل ۱۳.۶۵)۔

---

[۴۸] regressionline

(ا) لوسن کی پیداوار

پانی کی گہرائی x, [cm]	فی ایکڑ پیداوار y, [kg]
30	5270
45	5680
60	6250
75	7210
90	8200
100	8710

(ب) مرچ پر گڑھے

قطر D [km]	جماعتی وقفہ کی بایاں قیمت کے لئے $\frac{1}{D^2}$	تعدد F
$32-45$	0.001	51
$45-64$	0.0005	22
$64-90$	0.00024	14
$90-128$	0.000123	4

سوال ۱۳.۴۳۱ تا سوال ۱۳.۴۳۴ میں مساوات ۱۲ اور مساوات ۱۳ استعمال کرتے ہوئے ہر نقاطی مواد کے لئے خط رجعت تلاش کریں۔ یوں حاصل خطی مساوات استعمال کرتے ہوئے $x = 4$ کے لئے y کی قیمت کی پیش گوئی کریں۔

سوال ۱۳.۴۳۱: $(-1,2), (0,1), (3,-4)$

سوال ۱۳.۴۳۲: $(-2,0), (0,2), (2,3)$

سوال ۱۳.۴۳۳: $(0,0), (1,2), (2,3)$

سوال ۱۳.۴۳۴: $(0,1), (2,2), (3,2)$

سوال ۱۳.۴۳۵: جدول ۱۳.۱ میں پانی کی مقدار (گہرائی) بالمقابل لوسن کی اوسط پیداوار (کلو گرام فی ایکڑ) دی گئی ہے۔ اس کی خطی مساوات تلاش کریں۔ اس مواد کو اور خطی مساوات کو ترسیم کریں۔

سوال ۱۳.۴۳۶: مرچ پر گڑھے

ایک نظریہ کہتا ہے کہ گڑھوں کی تعدد قطر کے مربع کی بالعکس متناسب ہو گی۔ مرچ کی سطح کی تصویر سے جدول ۱۳.۱ب میں دی گئی معلومات حاصل کی جاتی ہے۔ اس مواد پر $F = m(1/D^2) + b$ طرز کی لکیر بٹھائیں۔ مواد اور اس لکیر کو ترسیم کریں۔

کمپیوٹر کا استعمال

سوال ۱۳.۴۳۷ تا سوال ۱۳.۴۴۲ میں تفاعل پر غور کرتے ہوئے ان کے مقامی انتہائی نقاط تلاش کرنا مقصود ہے۔ کمپیوٹر استعمال کرتے ہوئے درج ذیل اقدام کریں۔

ا. دیے گئے مستطیل پر تفاعل ترسیم کریں۔

ب. مستطیل میں چند ہم قد منحنیات ترسیم کریں۔

ج. تفاعل کا یک رتبی تفرق لے کر کمپیوٹر کی مدد سے اس مساوات کو حل کر کے نقاط فاصل تلاش کریں۔ نقاط فاصل اور ہم قد منحنیات کے بیچ کیا تعلق نظر آتا ہے؟ کون سے نقاط فاصل پر نقاط زین پائے جاتے ہیں؟ اپنے جوابات کی وجہ پیش کریں۔

د. تفاعل کے دو رتبی تفرقات تلاش کر کے ممیز $f_{xx}f_{yy} - f_{xy}^2$ معلوم کریں۔

ھ. زیادہ سے زیادہ اور کم سے کم پر کھ استعمال کرتے ہوئے جزو-ج کے نقاط فاصل کی جماعت بندی کریں۔ کیا یہ معلومات آپ کی جزو-ج میں دی گئی وجوہات سے مطابقت رکھتی ہے۔

سوال ۱۳.۴۳۷: $f(x,y) = x^2 + y^3 - 3xy, \quad -5 \le x \le 5, -5 \le y \le 5$

سوال ۱۳.۴۳۸: $f(x,y) = x^3 - 3xy^2 + y^2, \quad -2 \le x \le 2, \quad -2 \le y \le 2$

سوال ۱۳.۴۳۹: $f(x,y) = x^4 + y^2 - 8x^2 - 6y + 16, \quad -3 \le x \le 3, \quad -6 \le y \le 6$

سوال ۱۳.۴۴۰: $f(x,y) = 2x^4 + y^4 - 2x^2 - 2y^2 + 3, \quad -\frac{3}{2} \le x \le \frac{3}{2}, \quad -\frac{3}{2} \le y \le \frac{3}{2}$

سوال ۱۳.۴۴۱: $f(x,y) = 5x^6 + 18x^5 - 30x^4 + 30xy^2 - 120x^3,$
$-4 \le x \le 3, \quad -2 \le y \le 2$

سوال ۱۳.۴۴۲:

$$f(x,y) = \begin{cases} x^5 \ln(x^2+y^2) & (x,y) \ne (0,0) \\ 0 & (x,y) = (0,0) \end{cases}$$
$$-2 \le x \le 2, \quad -2 \le y \le y$$

۱۳.۹ لیگرینج ضاربین

جیسا ہم حصہ ۱۳.۸ میں دیکھ چکے، بعض اوقات ہمیں تفاعل کی انتہائی قیمت ایسی صورت درکار ہو گی جب اس کے دائرہ کار کو مستوی کے کسی مخصوص ذیلی حصہ، مثلاً قرص یا بند تکونی خطہ، پر رہنے کا پابند بنایا گیا ہو۔ لیکن جیسا شکل ۱۳.۶۶ میں دکھایا گیا ہے، تفاعل پر دیگر پابندیاں بھی عائد کی جا سکتی ہیں۔

اس حصہ میں ہم پابند تفاعل کی انتہائی قیمتیں تلاش کرنے کے ایک طاقتور ترکیب پر غور کریں گے جس کو لیگرینج ضاربین کی ترکیب کہتے ہیں۔ جیومیٹری کے انتہا قیمت مسائل حل کرتے ہوئے یوسف لوئی لیگرینج نے ۱۷۵۵ء میں اس ترکیب کو دریافت کیا۔ موجودہ دور میں اس کا استعمال اقتصادیات، انجینئری (جہاں کثیر المراحل راکٹ کی تخلیق میں اسے استعمال کیا جاتا ہے) اور ریاضیات میں پایا جاتا ہے۔

تفاعل کی مشروط زیادہ سے زیادہ قیمت نقاط اور کم سے کم قیمت نقاط

مثال ۱۳.۵۵: مبدا کے قریب ترین نقطہ $N(x,y,z)$ مستوی $2x + y - z = 0$ پر تلاش کریں۔

حل: ہمیں تفاعل

$$\begin{aligned} \left|\overrightarrow{ON}\right| &= \sqrt{(x-0)^2 + (y-0)^2 + (z-0)^2} \\ &= \sqrt{x^2 + y^2 + z^2} \end{aligned}$$

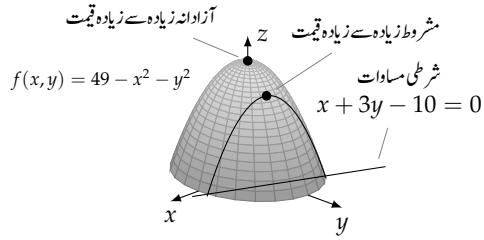

شکل ۱۳.۶۶: تفاعل $f(x,y) = 49 - x^2 - y^2$ کی شرطی مساوات $x + 3y - 10 = 0$ کے تحت زیادہ سے زیادہ قیمت۔

۲۱۷۳۱ کی کم سے کم قیمت درج ذیل شرط کے تحت تلاش کرنے کو کہا گیا ہے۔

$$2x + y - z - 5 = 0$$

۲۱۷۳۲ چونکہ جب بھی تفاعل

$$f(x,y,z) = x^2 + y^2 + z^2$$

۲۱۷۳۳ کی قیمت کم سے کم ہو، $\overrightarrow{ON}$ کی قیمت بھی کم سے کم ہوتی ہے لہٰذا ہم $2x + y - z - 5 = 0$ کی شرط کو مطمئن کرتے ہوئے $f(x,y,z)$

۲۱۷۳۴ کی کم سے کم قیمت تلاش کر کے اس مسئلہ کو حل کر سکتے ہیں۔ اس مساوات میں x اور y کو غیر تابع متغیرات تصور کرتے ہوئے z کو

$$z = 2x + y - 5$$

۲۱۷۳۵ لکھ کر ہمیں وہ نقطہ (x,y) تلاش کرنا ہو گا جس پر تفاعل

$$h(x,y) = f(x,y,2x+y-5) = x^2 + y^2 + (2x+y-5)^2$$

۲۱۷۳۶ کی قیمت کم سے کم ہو۔ چونکہ پورا xy مستوی h کا دائرہ کار ہے لہٰذا ایک رتبی تفرقی پرکھ کے تحت h کی کم سے کم قیمت ان نقاط پر پائی جائے گی جن پر

$$h_x = 2x + 2(2x+y-5)(2) = 0, \quad h_y = 2y + 2(2x+y-5) = 0$$

۲۱۷۳۷ ہو۔ ان سے

$$10x + 4y = 20, \quad 4x + 4y = 10$$

۲۱۷۳۸ یعنی

$$x = \frac{5}{3}, \quad y = \frac{5}{6}$$

۲۱۷۳۹ حاصل ہو گا۔ ہم دو رتبی تفرقی پرکھ کے ساتھ ساتھ جیومیٹریائی دلیل دیتے ہوئے دکھا سکتے ہیں کہ ان قیمتوں پر h کی قیمت کم سے کم ہو گی۔ مستوی $z =$

۲۱۷۴۰ $2x + y - 5$ پر مطابقتی z محدد

$$z = 2\left(\frac{5}{3}\right) + \frac{5}{6} - 5 = -\frac{5}{6}$$

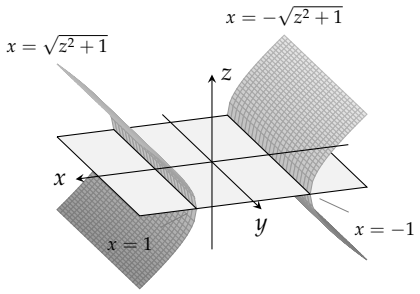

(ب) قطع زائد $x^2 - z^2 = 1$ پر مستوی xy میں نقطہ (x, y, z) کے پہلے دو محدد کے انتخاب میں مستوی xy کی پٹی $-1 < x < 1$ شامل نہیں ہو گی۔

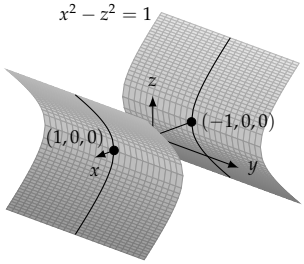

(ا) قطع زائد بیلن۔

شکل ۱۳.۶۷: مشروط انتہائی قیمت۔

۲۱۷۴۱ ہو گا۔ یوں مطلوبہ نقطہ

$$N\left(\frac{5}{3}, \frac{5}{6}, -\frac{5}{6}\right)$$

۲۱۷۴۲ ہو گا جو مبدا سے $\frac{5}{\sqrt{6}} \approx 2.04$ فاصلہ پر ہو گا۔ □

۲۱۷۴۳ ہم نے مثال ۱۳.۵۵ میں پابندی کے شرط کی قیمتیں پر کرتے ہوئے کم سے کم قیمت نقطہ تلاش کیا۔ یہ ترکیب بعض اوقات ہمیں آسانی سے جواب نہیں دے
۲۱۷۴۴ پاتی۔ یہی وجہ ہے کہ اس حصہ میں ایک نئی ترکیب متعارف کی جائے گی۔

۲۱۷۴۵ مثال ۱۳.۵۶: درج ذیل قطع زائد بیلن پر مبدا کا قریب ترین نقطہ تلاش کریں۔

$$x^2 - z^2 - 1 = 0$$

۲۱۷۴۶ پہلا حل: بیلن کو شکل ۱۳.۶۷-ا میں دکھایا گیا ہے۔ ہمیں اس بیلن پر مبدا کے قریب تر نقاط تلاش کرنے ہیں۔ یہ وہ نقاط ہوں گے جو
۲۱۷۴۷ $x^2 - z^2 - 1 = 0$ کو مطمئن کرتے ہوئے تفاعل

$$f(x, y, z) = x^2 + y^2 + z^2 \qquad \text{فاصلے کا مربع}$$

۲۱۷۴۸ کی قیمت کو کم سے کم بناتے ہوں۔ اگر ہم شرطی مساوات میں x اور y کو غیر تابع متغیرات تصور کریں تب

$$z^2 = x^2 - 1$$

۲۱۷۴۹ لکھا جا سکتا ہے۔ یوں بیلن پر نقاط کو درج ذیل لکھا جا سکتا ہے۔

$$h(x, y) = x^2 + y^2 + (x^2 - 1) = 2x^2 + y^2 - 1$$

بیلن پر ان نقاط کے محدد جو f کی قیمت کو کم سے کم بناتے ہوں تلاش کرنے کی خاطر ہمیں xy مستوی میں وہ نقاط معلوم کرنے ہوں گے جن پر h کی قیمت کم سے کم ہو۔ ہم جانتے ہیں کہ h کی انتہائی قیمتیں صرف ان نقاط پر ممکن ہیں جن پر

$$h_x = 4x = 0, \quad h_y = 2y = 0$$

ہو، یعنی، نقطہ $(0,0)$ لیکن بیلن پر ایسا کوئی نقطہ نہیں پایا جاتا ہے جہاں x اور y بیکوقت صفر ہوں۔ ایسا کیوں کر ہوا؟

کیا ہوا کہ یک رتبی تفرقی پرکھ سے ہم نے (درست طور پر) h کے دائرہ کار میں وہ نقطہ معلوم کیا جس پر h کی قیمت کم سے کم تھی جبکہ ہمیں بیلن پر وہ نقطہ درکار تھا جس پر h کی قیمت کم سے کم ہو۔ اگرچہ h کا دائرہ کار مکمل xy مستوی پر مشتمل ہے، ہمیں مستوی xy میں بیلن کے سایہ کو دائرہ کار لیتے ہوئے نقطہ (x,y,z) کے پہلے دو محدد تلاش کرنے تھے۔ بیلن کے سایہ میں خطوط $x = -1$ اور $x = 1$ کے بیچ خطہ شامل نہیں ہوگا (شکل ۱۳.۶۷-ب)۔

ہم (x اور y کے بجائے) y اور z کو غیر تابع متغیرات تصور کرتے ہوئے اس پریشانی سے نجات حاصل کر سکتے ہیں۔ یوں

$$x^2 = z^2 + 1$$

لکھ کر $f(x,y,z) = x^2 + y^2 + z^2$ سے

$$k(y,z) = (z^2+1) + y^2 + z^2 = 1 + y^2 + 2z^2$$

حاصل ہوگا۔ اب ہم وہ نقاط تلاش کرتے ہیں جن پر k کی قیمت کم سے کم ہو۔ اب yz مستوی میں k کے دائرہ کار میں وہ حصہ جس میں y اور z دریافت کئے جاتے ہیں، بیلن پر اس دائرہ کار جس پر (x,y,z) مطلوب ہے، ایک دوسرے جیسے ہیں۔ یوں جو نقاط k کی قیمت کو کم سے کم بناتے ہوں، بیلن پر مطابقتی نقاط دیں گے۔ اب k کی کم سے کم قیمت ان نقطوں پر ہوگی جہاں

$$k_y = 2y = 0, \quad k_z = 4z = 0$$

یعنی $y = z = 0$ ہو۔ یوں

$$x^2 = z^2 + 1 = 1, \quad x = \mp 1$$

ہوگا۔ بیلن پر مطابقتی نقاط $(\mp 1, 0, 0)$ ہوں گے۔ ہم عدم مساوات

$$k(y,z) = 1 + y^2 + 2z^2 \geq 1$$

سے دیکھ سکتے ہیں کہ نقاط $(\mp 1, 0, 0)$ ہمیں k کی کم سے کم قیمت دیں گے۔ ہم دیکھتے ہیں کہ مبدا سے بیلن کا کم سے کم فاصلہ 1 ہوگا۔

دوسرا حل: مبدا سے بیلن تک کم ترین فاصلہ یوں بھی تلاش کیا جا سکتا ہے کہ آپ مبدا پر ایک بلبلا تصور کریں۔ اس بلبلا میں اتنی ہوا بھڑیں کہ یہ بیلن کو بس چھوئے (شکل ۱۳.۶۸)۔ جس نقطہ پر یہ بلبلا بیلن کو چھوتا ہے اس نقطہ پر بلبلے اور بیلن کا ایک ہی مماسی مستوی اور ایک ہی عمودی خط ہوگا۔ یوں اگر

$$g(x,y,z) = x^2 - z^2 - 1 \qquad f(x,y,z) = x^2 + y^2 + z^2 - a^2$$

کو 0 کے برابر رکھ کر حاصل ہم قد منحنیات کو بلبلا اور بیلن تصور کیا جائے تب ڈھلوان ∇f اور ∇g اس نقطہ پر متوازی ہوں گے جہاں یہ سطحیں ایک دوسرے کو چھوتی ہیں۔ یوں نقطہ مس پر ہم ایسا غیر سمتی λ تلاش کر سکتے ہیں جو

$$\nabla f = \lambda \nabla g$$

یعنی

$$2x\boldsymbol{i} + 2y\boldsymbol{j} + 2z\boldsymbol{k} = \lambda(2x\boldsymbol{i} - 2z\boldsymbol{k})$$

کو مطمئن کرتا ہو۔ اس طرح نقطہ مماس پر x ، y اور z محدد درج ذیل تین مساوات کو مطمئن کریں گے۔

$$2x = 2\lambda x, \quad 2y = 0, \quad 2z = -2\lambda z \tag{۱}$$

نقطہ (x, y, z) جس کے محدد مساوات ا کو مطمئن کرتے ہوں λ کی کس قیمت کے لئے سطح $x^2 - z^2 - 1 = 0$ پر پائے جائیں گے؟ اس کا جواب دینے کی خاطر ہم اس حقیقت کو استعمال کرتے ہوئے کہ اس سطح پر کسی بھی نقطہ کا x محدد صفر نہیں ہے، فیصلہ کرتے ہیں کہ مساوات ا کی پہلی مساوات میں $x \neq 0$ ہو گا۔ یوں $2x = 2\lambda x$ صرف

$$\lambda = 1 \quad \text{یعنی} \quad 2 = 2\lambda$$

کی صورت میں ممکن ہو گا۔ اب $\lambda = 1$ لیتے ہوئے مساوات $2z = -2\lambda z$ سے $2z = -2z$ حاصل ہو گا جس کو صرف $z = 0$ مطمئن کرتا ہے۔ ساتھ ہی مساوات $2y = 0$ سے $y = 0$ حاصل ہو گا۔ ان معلومات سے ہم دیکھتے ہیں کہ مطلوبہ نقطہ کا روپ درج ذیل ہو گا۔

$$(x, 0, 0)$$

سطح $x^2 - z^2 = 1$ پر کن نقاط کے محدد کا یہی روپ ہے؟ ان نقاط پر

$$x^2 - (0)^2 = 1, \quad x^2 = 1, \quad x = \mp 1$$

ہو گا۔ بیلن پر مبدا کے قریب ترین نقاط $(\mp 1, 0, 0)$ ہوں گے۔ □

لیگرینج ضاربین

ہم نے مثال ۱۳.۵۶ کا دوسرا حل **لیگرینج ضاربین**[۴۹] کی ترکیب سے حاصل کیا۔ عمومی طور پر یہ ترکیب کہتی ہے تفاعل $f(x, y, z)$ ، جس کے متغیرات پر شرط $g(x, y, z) = 0$ لاگو کی گئی ہو، کی انتہائی قیمتیں، سطح $g = 0$ پر ان نقاط پر پائی جائیں گی جو

$$\nabla f = \lambda \nabla g$$

کو کسی غیر سمتی مستقل λ (جس کو **لیگرینج ضارب**[۵۰] کہتے ہیں) کے لئے مطمئن کرتے ہوں۔

---

[۴۹] methodofLagrangemultipliers
[۵۰] Lagrange!multiplier

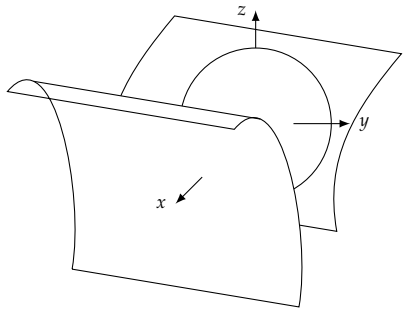

شکل ۱۳.۶۸: مبدا پر ایک بلبلا جو قطع زائد $x^2 - z^2 - 1 = 0$ کو مس کرتا ہے۔

اس ترکیب کو مزید جاننے کے لئے اور یہ دیکھنے کی خاطر کہ یہ ترکیب کیوں کام کرتی ہے، ہم درج ذیل مشاہدہ کرتے ہیں جس کو ایک مسئلہ کی صورت میں پیش کیا گیا ہے۔

مسئلہ ۱۳.۹: **عمودی ڈھلوان کا مسئلہ**

فرض کریں $f(x, y, z)$ ایک ایسے خطہ میں قابل تفرق ہے جس کی اندرون میں ہموار منحنی

$$C: \quad \boldsymbol{r} = g(t)\boldsymbol{i} + h(t)\boldsymbol{j} + k(t)\boldsymbol{k}$$

پائی جاتی ہے۔ اگر C پر N_0 ایک ایسا نقطہ ہو جہاں C کے لحاظ سے (یعنی f کے متغیرات x ، y اور z منحنی C کو مطمئن کرتے ہوں) f کی مقامی (مشروط) زیادہ سے زیادہ یا مقامی کم سے کم قیمت ہو تب N_0 پر ∇f منحنی C کو عمودی ہو گا۔

ثبوت : ہم دکھاتے ہیں کہ N_0 پر منحنی کے سمتیہ رفتار کو ∇f عمودی ہو گا۔ منحنی C پر f کی قیمتیں مرکب تفاعل $f(g(t), h(t), k(t))$ دیتا ہے جس کا t کے لحاظ سے تفرق

$$\frac{\mathrm{d}f}{\mathrm{d}t} = \frac{\partial f}{\partial x}\frac{\mathrm{d}g}{\mathrm{d}t} + \frac{\partial f}{\partial y}\frac{\mathrm{d}h}{\mathrm{d}t} + \frac{\partial f}{\partial z}\frac{\mathrm{d}k}{\mathrm{d}t} = \nabla f \cdot \boldsymbol{v}$$

ہو گا۔ ایک نقطہ N_0 جس پر f کی، C کے لحاظ سے، (مشروط) مقامی زیادہ سے زیادہ قیمت یا مقامی کم سے کم قیمت ہو، $\frac{\mathrm{d}f}{\mathrm{d}t} = 0$ ہو گا لہٰذا

$$\nabla f \cdot \boldsymbol{v} = 0$$

ہو گا۔

ہم مسئلہ ۱۳.۹ میں جزو z کو حذف کر کے دو متغیری تفاعل کے لئے اسی طرح کا نتیجہ حاصل کرتے ہیں۔

□

ضمنی نتیجہ ۱۳.۲: برائے مسئلہ ۱۳.۹

ہموار منحنی $\boldsymbol{r} = g(t)\boldsymbol{i} + h(t)\boldsymbol{j}$ پر قابل تفرق تفاعل $f(x, y)$ کی قیمتوں کے لحاظ سے، جن نقاط پر f کی (مشروط) زیادہ سے زیادہ یا کم سے کم قیمتیں ہوں وہاں $\nabla f \cdot \boldsymbol{v} = 0$ ہو گا۔

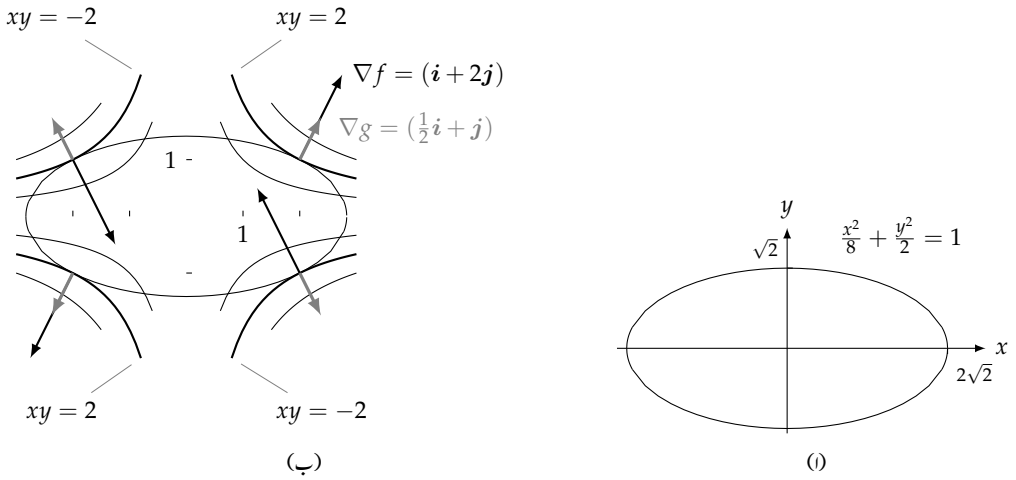

شکل ۱۳.۶۹: تفاعل $f(x,y) = xy$ پر شرط $g(x,y) = x^2/8 + y^2/2 - 1 = 0$ لاگو کرنے سے تفاعل f کی انتہائی قیمتیں چار نقاط $(\mp 2, \mp 1)$ پر حاصل ہوتی ہیں۔ یہ ترخیم پر وہ نقاط ہیں جہاں ∇g کا غیر سمتی مضرب ∇f ہو گا۔

۲۱۷۹۷

۲۱۷۹۸ ترکیب لیگرینج ضاربین کا انحصار مسئلہ ۱۳.۹ پر ہے۔ فرض کریں $f(x,y,z)$ اور $g(x,y,z)$ قابل تفرق تفاعل ہیں اور سطح $g(x,y,z) = 0$ پر N_0 ایک ایسا نقطہ ہے، جہاں سطح پر دیگر قیمتوں کے لحاظ سے، f کی (مشروط) مقامی زیادہ سے زیادہ قیمت یا مقامی کم سے کم قیمت پائی جاتی ہو۔ تب سطح $g(x,y,z) = 0$ پر N_0 سے گزرتی ہوئی ہر قابل تفرق منحنی پر، f کی قیمتوں کے لحاظ سے، N_0 پر f کی (مشروط) مقامی زیادہ سے زیادہ قیمت یا مقامی کم سے کم قیمت پائی جائے گی۔ یوں N_0 سے گزرتی ہوئی ایسی ہر قابل تفرق منحنی کا سمتیہ رفتار ڈھلوان ∇f کو عمودی ہو گا۔ لیکن ∇g (جیسا ہم حصہ ۱۳.۷ میں دیکھ چکے ہیں ∇g ہم قد سطح $g = 0$ کو عمودی ہو گا) بھی ان سمتیات رفتار کو عمودی ہے لہٰذا N_0 پر ∇g اور غیر سمتی λ کا حاصل ضرب ∇f کے برابر ہو گا۔

لیگرینج ضاربین کی ترکیب

فرض کریں $f(x,y,z)$ اور $g(x,y,z)$ قابل تفرق ہیں۔ شرط $g(x,y,z) = 0$ پر پورا اترتے ہوئے f کی مقامی زیادہ سے زیادہ قیمت یا مقامی کم سے کم قیمت تلاش کرنے کی خاطر x ، y ، z اور λ کی ایسی قیمتیں معلوم کریں جو درج ذیل مساوات کو بیکوقت مطمئن کرتی ہوں۔

$$\nabla f = \lambda \nabla g, \quad g(x,y,z) = 0$$

دو متغیری تفاعل کے لئے موزوں مساوات درج ذیل ہوں گی۔

$$\nabla f = \lambda \nabla g, \quad g(x,y) = 0$$

۲۱۸۰۸ مثال ۱۳.۵۷: ترخیم

$$\frac{x^2}{8}+\frac{y^2}{2}=1$$

۲۱۸۰۹ پر درج ذیل تفاعل کی زیادہ سے زیادہ اور کم سے کم قیمتیں تلاش کریں (شکل ۱۳.۶۹-ا)۔

$$f(x,y)=xy$$

۲۱۸۱۰ حل: ہم $f(x,y)=xy$ کی انتہائی قیمتیں درج ذیل شرط پر پورا اترتے ہوئے تلاش کرنا چاہتے ہیں۔

$$g(x,y)=\frac{x^2}{8}+\frac{y^2}{2}-1=0$$

۲۱۸۱۱ ایسا کرنے کی خاطر ہم پہلے x ، y اور λ کی وہ قیمتیں دریافت کرتے ہیں جو درج ذیل کو مطمئن کرتی ہوں۔

$$\nabla f=\lambda\nabla g,\quad g(x,y)=0$$

۲۱۸۱۲ مساوات ڈھلوان ہمیں

$$y\boldsymbol{i}+x\boldsymbol{j}=\frac{\lambda}{4}x\boldsymbol{i}+\lambda y\boldsymbol{j}$$

۲۱۸۱۳ دیتی ہے جس سے

$$y=\frac{\lambda}{4}x,\quad x=\lambda y,\quad y=\frac{\lambda}{4}(\lambda y)=\frac{\lambda^2}{4}y$$

۲۱۸۱۴ حاصل ہوتے ہیں لہٰذا $y=0$ یعنی $\lambda=\mp 2$ ہوگا۔ ہم اب درج ذیل دو صورتوں پر غور کرتے ہیں۔

۲۱۸۱۵ **پہلی صورت:** اگر $y=0$ ہو تب $x=y=0$ ہوگا۔ لیکن $(0,0)$ ترخیم پر نہیں پایا جاتا ہے لہٰذا $y\neq 0$ ہوگا۔

۲۱۸۱۶ **دوسری صورت:** اگر $y\neq 0$ ہو تب $\lambda=\mp 2$ اور $x=\mp 2y$ ہوگا۔ انہیں مساوات $g(x,y)=0$ میں پر کرنے سے درج ذیل

۲۱۸۱۷ حاصل ہوگا۔

$$\frac{(\mp 2y)^2}{8}+\frac{y^2}{2}=1,\quad 4y^2+4y^2=8,\quad y=\mp 1$$

۲۱۸۱۸ یوں ترخیم پر تفاعل $f(x,y)=xy$ کی انتہائی قیمتیں چار نقطوں $(\mp 2,1)$ ، $(\mp 2,-1)$ پر پائی جائیں گی۔ یہ انتہائی قیمتیں

۲۱۸۱۹ $f(x,y)=xy=2$ اور $f(x,y)=xy=-2$ ہوں گی۔

۲۱۸۲۰ **حل کی جیومیٹری**

۲۱۸۲۱ تفاعل $f(x,y)=xy$ کی ہم قد منحنیات قطع زائد $xy=c$ ہیں (شکل ۱۳.۶۹-ب)۔ مبدا سے یہ قطع زائد جتنے دور ہوں، f کی مطلق قیمت

۲۱۸۲۲ اتنی بڑی ہوگی۔ ہم $f(x,y)$ کی وہ انتہائی قیمتیں جاننا چاہتے ہیں جو ترخیم $x^2+4y^2=8$ پر پائی جاتی ہوں۔ مبدا سے دور ترین وہ کونسی قطع زائد

۲۱۸۲۳ ہیں، جو ترخیم کو قطع کرتی ہیں؟ وہ قطع زائد جو ترخیم کو مس کرتی ہوئی گزرتی ہوں، جو ترخیم کی مماسی ہوں۔ ان نقطوں پر جو بھی سمتیہ قطع زائد کو عمودی ہو، ترخیم

کو بھی عمودی ہوگا، لہٰذا $\nabla f = y\boldsymbol{i} + x\boldsymbol{j}$ سمتیہ $\nabla g = \frac{x}{4}\boldsymbol{i} + y\boldsymbol{j}$ کا مستقل مضرب ($\lambda = \mp 2$) ہوگا۔ مثلاً نقطہ $(2,1)$ پر

$$\nabla f = \boldsymbol{i} + 2\boldsymbol{j}, \quad \nabla g = \frac{1}{2}\boldsymbol{i} + \boldsymbol{j}, \quad \nabla f = 2\nabla g$$

ہوگا جبکہ نقطہ $(-2,1)$ پر درج ذیل ہوگا۔

$$\nabla f = \boldsymbol{i} - 2\boldsymbol{j}, \quad \nabla g = -\frac{1}{2}\boldsymbol{i} + \boldsymbol{j}, \quad \nabla f = -2\nabla g$$

□

مثال ۱۳.۵۸: دائرہ $x^2 + y^2 = 1$ پر تفاعل $f(x,y) = 3x + 4y$ کی زیادہ سے زیادہ اور کم سے کم قیمتیں تلاش کریں۔

حل: ہم ترکیب لیگرینج ضاربین میں

$$f(x,y) = 3x + 4y, \quad g(x,y) = x^2 + y^2 - 1 = 0$$

لیتے ہوئے x ، y اور λ کی وہ قیمتیں تلاش کرتے ہیں جو درج ذیل مساوات کو مطمئن کرتی ہوں۔

$$\begin{aligned} \nabla f = \lambda \nabla g: &\quad 3\boldsymbol{i} + 4\boldsymbol{j} = 2x\lambda\boldsymbol{i} + 2y\lambda\boldsymbol{j}, \\ g(x,y) = 0: &\quad x^2 + y^2 - 1 = 0 \end{aligned}$$

مساوات ڈھلوان سے مراد $\lambda \neq 0$ لیا جا سکتا ہے لہٰذا یہ مساوات

$$x = \frac{3}{2\lambda}, \quad y = \frac{2}{\lambda}$$

دیتی ہے جو دیگر حقائق کے ساتھ ساتھ ہمیں بتاتی ہے کہ x اور y کی علامتیں ایک دوسرے جیسی ہیں۔ مساوات $g(x,y) = 0$ میں x اور y کی قیمتیں پر کرتے ہوئے

$$\left(\frac{3}{2\lambda}\right)^2 + \left(\frac{2}{\lambda}\right)^2 - 1 = 0$$

یعنی

$$\frac{9}{4\lambda^2} + \frac{4}{\lambda^2} = 1, \quad 9 + 16 = 4\lambda^2, \quad \lambda = \mp\frac{5}{2}$$

حاصل ہوگا۔ یوں

$$x = \frac{3}{2\lambda} = \mp\frac{3}{5}, \quad y = \frac{2}{\lambda} = \mp\frac{4}{5}$$

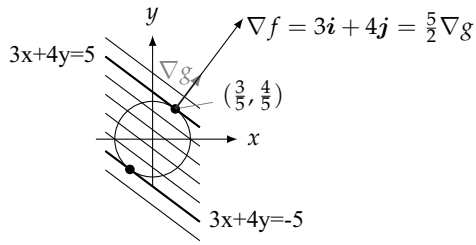

شکل ۱۳.۷۰: دائرہ $x^2 + y^2 = 1$ پر تفاعل $f(x, y) = 3x + 4y$ کی زیادہ سے زیادہ قیمت نقطہ $(3/5, 4/5)$ اور کم سے کم قیمت نقطہ $(-3/5, -4/5)$ پر پائی جاتی ہیں۔ ان نقطوں پر ∇g کا مستقل مضرب ∇f ہو گا۔ اس شکل میں پہلے نقطہ پر ڈھلوان دکھائی گئی ہے جبکہ دوسرے نقطہ پر ڈھلوان نہیں دکھائی گئی ہے۔

ہوں گے اور $f(x, y) = 3x + 4y$ کی انتہائی قیمتیں نقاط $\mp(\frac{3}{5}, \frac{4}{5})$ پر پائی جائیں گی۔

نقاط $\mp(\frac{3}{5}, \frac{4}{5})$ پر $3x + 4y$ کی قیمتیں معلوم کر کے ہم دیکھتے ہیں کہ دائرہ $x^2 + y^2 = 1$ پر زیادہ سے زیادہ اور کم سے کم قیمتیں درج ذیل ہوں گی۔

$$3\left(\frac{3}{5}\right) + 4\left(\frac{4}{5}\right) = \frac{25}{5} = 5, \quad 3\left(-\frac{3}{5}\right) + 4\left(-\frac{4}{5}\right) = -\frac{25}{5} = -5$$

حل کی جیومیٹری

تفاعل $f(x, y) = 3x + 4y$ کی ہم قد منحنیات، خطوط $3x + 4y = c$ ہیں (شکل ۱۳.۷۰)۔ مبدا سے یہ خطوط جتنے دور ہوں، f کی مطلق قیمت اتنی زیادہ ہو گی۔ ہم f کی وہ انتہائی قیمتیں جاننا چاہتے ہیں جو دائرہ $x^2 + y^2 = 1$ پر پائے جاتے ہوں۔ وہ کون سے خطوط ہیں جو مبدا سے دور ترین ہوتے ہوئے دائرہ کو قطع کرتے ہیں؟ وہ خطوط جو دائرے کے مماس ہیں۔ نقطہ مماس پر ہر وہ سمتیہ جو خط کو عمودی ہو، دائرہ کو بھی عمودی ہو گا لہٰذا ڈھلوان ∇f ڈھلوان ∇g کا مستقل مضرب ($\lambda = \mp\frac{5}{2}$) ہو گا۔ مثلاً نقطہ $(\frac{3}{5}, \frac{4}{5})$ پر درج ذیل ہوں گے۔

$$\nabla f = 3\boldsymbol{i} + 4\boldsymbol{j}, \quad \nabla g = \frac{6}{5}\boldsymbol{i} + \frac{8}{5}\boldsymbol{j}, \quad \nabla f = \frac{5}{2}\nabla g$$

□

دو شرائط کے ساتھ لیگرینج ضاربین

متعدد مسائل میں ہمیں قابل تفرق تفاعل $f(x, y, z)$ کی انتہائی قیمتیں اس صورت درکار ہوتی ہیں جہاں تفاعل کے متغیرات دو شرائط کو مطمئن کرتے ہوں۔ اگر یہ شرائط

$$g_2(x, y, z) = 0, \quad \text{اور} \quad g_1(x, y, z) = 0$$

ہوں اور g_1 ، g_2 قابل تفرق ہوں اور ساتھ ہی ∇g_1 اور ∇g_2 آپس میں متوازی نہ ہوں تب ہم f کی مشروط مقامی زیادہ سے زیادہ اور مقامی کم سے کم قیمت نقاط تلاش کرنے کی خاطر دو لیگرینج مستقل λ اور μ (جس کا تلفظ ''میو'' ہے) متعارف کرتے ہیں۔ اس طرح f کی انتہائی قیمت نقاط تلاش

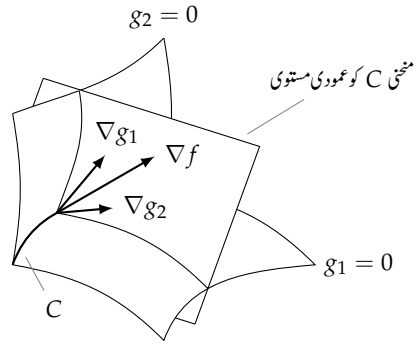

شکل ۱۳.۷۱: چونکہ ∇g_1 سطح $g_1 = 0$ کو عمودی ہے اور ∇g_2 سطح $g_2 = 0$ کو عمودی ہے لہٰذا سمتیات ∇g_1 اور ∇g_2 منحنی C کے عمودی مستوی میں پائے جاتے ہیں۔

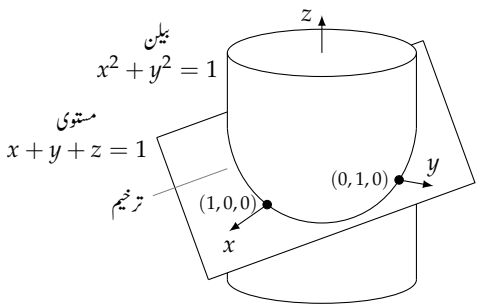

شکل ۱۳.۷۲: جس ترخیم پر بیلن اور مستوی ایک دوسرے کو قطع کرتے ہیں اس پر مبدا سے دور تر اور نزدیک تر نقاط کی تلاش۔

۲۱۸۵۰ کرنے کی خاطر ہم x ، y ، z اور λ اور μ کی وہ قیمتیں دریافت کرتے ہیں جو درج ذیل مساوات کو بیکوقت مطمئن کرتے ہوں۔

$$\nabla f = \lambda \nabla g_1 + \mu \nabla g_2, \quad g_1(x,y,z) = 0, \quad g_2(x,y,z) = 0 \tag{۲}$$

۲۱۸۵۱ درج بالا (مساوات ۲) کا ایک خوبصورت جیومیٹریائی مطلب ہے (شکل ۱۳.۷۱)۔ سطح $g_1 = 0$ اور سطح $g_2 = 0$ (عموماً) ایک ہموار منحنی میں، جسے
۲۱۸۵۲ ہم C کہیں گے، ایک دوسرے کو قطع کرتی ہیں اور اس منحنی پر چلتے ہوئے ہم وہ نقاط تلاش کرنا چاہتے ہیں، جہاں C پر f کی قیمتوں کے لحاظ سے، f کی
۲۱۸۵۳ (مشروط) زیادہ سے زیادہ اور کم سے کم قیمت پائی جاتی ہو۔ جیسا ہم مسئلہ ۱۳.۹ سے جانتے ہیں، ان نقاط پر ∇f ، منحنی C کو عمودی ہو گا۔ لیکن ان نقاط پر چونکہ
۲۱۸۵۴ منحنی C ، سطح $g_1 = 0$ اور سطح $g_2 = 0$ میں پائی جاتی ہے لہٰذا ∇g_1 اور ∇g_2 بھی C کو عمودی ہوں گے۔ یوں ∇f اس مستوی میں
۲۱۸۵۵ پایا جائے گا جسے ∇g_1 اور ∇g_2 تعین کرتے ہیں لہٰذا $\nabla f = \lambda \nabla g_1 + \mu \nabla g_2$ ہو گا جہاں λ اور μ کوئی مستقل ہوں گے۔ چونکہ
۲۱۸۵۶ مطلوبہ نقاط بھی ان دونوں سطحوں میں پائے جاتے ہیں لہٰذا ان کے محدد مساوات $g_1(x,y,z) = 0$ اور $g_2(x,y,z) = 0$ کو لازماً مطمئن
۲۱۸۵۷ کریں گے (جو مساوات ۲ کے باقی شرائط ہیں)۔

۲۱۸۵۸ مثال ۱۳.۵۹: مستوی $x + y + z = 1$ بیلن $x^2 + y^2 = 1$ کو ایک ترخیم میں قطع کرتا ہے۔ اس ترخیم پر وہ نقاط تلاش کریں جو مبدا سے
۲۱۸۵۹ دور تر اور نزدیک تر ہوں (شکل ۱۳.۷۲)۔

۲۱۸۶۰ حل: ہم (مبدا سے نقطہ (x,y,z) کے فاصلے کے مربع)

$$f(x,y,z) = x^2 + y^2 + z^2$$

۲۱۸۶۱ کی وہ انتہائی قیمتیں معلوم کرتے ہیں جو درج ذیل شرائط پر پورا اترتی ہوں۔

$$g_1(x,y,z) = x^2 + y^2 - 1 = 0 \tag{۳}$$

$$g_2(x,y,z) = x + y + z - 1 = 0 \tag{۴}$$

۲۱۸۶۲ یوں مساوات ۲ میں ڈھلوان کی مساوات

$$\nabla f = \lambda \nabla g_1 + \mu \nabla g_2 \qquad \text{مساوات ۲}$$
$$2x\boldsymbol{i} + 2y\boldsymbol{j} + 2z\boldsymbol{k} = \lambda(2x\boldsymbol{i} + 2y\boldsymbol{j}) + \mu(\boldsymbol{i} + \boldsymbol{j} + \boldsymbol{k})$$
$$2x\boldsymbol{i} + 2y\boldsymbol{j} + 2z\boldsymbol{k} = (2\lambda x + \mu)\boldsymbol{i} + (2\lambda y + \mu)\boldsymbol{j} + \mu\boldsymbol{k}$$

۲۱۸۶۳ یعنی

$$2x = 2\lambda x + \mu, \quad 2y = 2\lambda y + \mu, \quad 2z = \mu \tag{۵}$$

۲۱۸۶۴ دے گی۔ غیر سمتی مساوات ۵ ہمیں درج ذیل دیتی ہیں۔

$$\begin{aligned} 2x = 2\lambda x + 2z \quad &\Longrightarrow \quad (1-\lambda)x = z \\ 2y = 2\lambda y + 2z \quad &\Longrightarrow \quad (1-\lambda)y = z \end{aligned} \tag{۶}$$

۲۱۸۶۵ مساوات ۶ بیکوقت اس صورت مطمئن ہوں گی جب یا $\lambda = 1$ اور $z = 0$ ہوں یا $\lambda \neq 1$ اور $x = y = \frac{z}{1-\lambda}$ ہوں۔

۲۱۸۶۶ اگر $z = 0$ ہو تب مساوات ۳ اور مساوات ۴ کو ایک ساتھ حل کرتے ہوئے ترخیم پر مطابقتی نقاط $(1,0,0)$ اور $(0,1,0)$ حاصل ہوتے ہیں جو
۲۱۸۶۷ شکل کو دیکھ کر معنی خیز نظر آتے ہیں۔

۲۱۸۶۸ اگر $x = y$ ہو تب مساوات ۳ اور مساوات ۴ درج ذیل دیں گے۔

$$\begin{aligned} x^2 + x^2 - 1 &= 0 & x + x + z - 1 &= 0 \\ 2x^2 &= 1 & z &= 1 - 2x \\ x &= \mp\frac{\sqrt{2}}{2} & z &= 1 \mp \sqrt{2} \end{aligned}$$

۲۱۸۶۹ ترخیم پر مطابقتی نقاط

$$N_2 = \left(-\frac{\sqrt{2}}{2}, -\frac{\sqrt{2}}{2}, 1+\sqrt{2}\right) \quad \text{اور} \quad N_1 = \left(\frac{\sqrt{2}}{2}, \frac{\sqrt{2}}{2}, 1-\sqrt{2}\right)$$

۲۱۸۷۰ ہوں گے۔ یہاں احتیاط کی ضرورت ہے۔ اگرچہ N_1 اور N_2 دونوں ترخیم پر f کی مقامی زیادہ سے زیادہ قیمتیں دیتے ہیں، نقطہ N_2 مبدا سے زیادہ دور
۲۱۸۷۱ ہے۔

۲۱۸۷۲ ترخیم پر مبدا کے قریب تر نقاط $(1,0,0)$ اور $(0,1,0)$ ہیں۔ ترخیم پر مبدا سے دور تر نقطہ N_2 ہے۔ □

۲۱۸۷۳ **سوالات**

۲۱۸۷۴ **دو غیر تابع متغیرات اور ایک شرط**

۲۱۸۷۵ سوال ۱۳.۴۴۳: ترخیم $x^2 + 2y^2 = 1$ پر وہ نقاط تلاش کریں جن پر $f(x,y) = xy$ کی انتہائی قیمتیں پائی جاتی ہوں۔

سوال ۱۳.۴۴۴: تفاعل $f(x,y) = xy$ کی شرطی مساوات $g(x,y) = x^2 + y^2 - 10 = 0$ کے لحاظ سے مشروط انتہائی قیمتیں تلاش کریں۔

سوال ۱۳.۴۴۵: لکیر $x + 3y = 10$ پر چلتے ہوئے تفاعل $f(x,y) = 49 - x^2 - y^2$ کی زیادہ سے زیادہ قیمت تلاش کریں۔

سوال ۱۳.۴۴۶: خط $x + y = 3$ پر $f(x,y) = x^2y$ کی مقامی انتہائی قیمتیں تلاش کریں۔

سوال ۱۳.۴۴۷: منحنی $xy^2 = 54$ پر مبدا کے قریب تر نقاط تلاش کریں۔

سوال ۱۳.۴۴۸: منحنی $x^2y = 2$ پر مبدا کے قریب تر نقاط تلاش کریں۔

سوال ۱۳.۴۴۹: ترکیب لیگرینج ضاربین کی مدد سے

ا. $x + y$ کی مشروط کم سے کم قیمت $xy = 16,\ x > 0,\ y > 0$ پر پورا اترتے ہوئے تلاش کریں۔

ب. xy کی زیادہ سے زیادہ قیمت شرط $x + y = 16$ کے لحاظ سے تلاش کریں۔

سوال ۱۳.۴۵۰: مستوی xy میں رہتے ہوئے منحنی $x^2 + xy + y^2 = 1$ پر مبدا سے دور تر اور نزدیک تر نقاط تلاش کریں۔

سوال ۱۳.۴۵۱: ایک بند دائری قائمہ بیلن کا حجم $16\pi,\ \mathrm{cm}^3$ ہے۔ اس کی وہ جسامت تلاش کریں جس سے اس بیلن کا سطحی رقبہ کم سے کم ہو۔

سوال ۱۳.۴۵۲: رداس a کے کرہ میں محصور زیادہ سے زیادہ سطح کے کھلا دائری قائمہ بیلن کا سطحی رقبہ کتنا ہو گا؟

سوال ۱۳.۴۵۳: ترکیب لیگرینج ضاربین استعمال کرتے ہوئے ترخیم $\frac{x^2}{16} + \frac{y^2}{9} = 1$ میں محصور زیادہ سے زیادہ محیط کا ایسا مستطیل تلاش کریں جس کے اضلاع محددی محور کے متوازی ہوں۔ اس مستطیل کا محیط کتنا ہو گا؟

سوال ۱۳.۴۵۴: ترخیم $\frac{x^2}{a^2} + \frac{y^2}{b^2} = 1$ میں محصور زیادہ سے زیادہ محیط کا مستطیل جس کے اضلاع محددی محور کے متوازی ہوں کے اضلاع تلاش کریں۔ اس مستطیل کا محیط کتنا ہو گا؟

سوال ۱۳.۴۵۵: شرط $x^2 - 2x + y^2 - 4y = 0$ پر پورا اترتے ہوئے $x^2 + y^2$ کی زیادہ سے زیادہ اور کم سے کم قیمتیں تلاش کریں۔

سوال ۱۳.۴۵۶: شرط $x^2 + y^2 = 4$ کے لحاظ سے $3x - y + 6$ کی زیادہ سے زیادہ اور کم سے کم قیمتیں تلاش کریں۔

سوال ۱۳.۴۵۷: ایک دھاتی چادر کے نقطہ (x,y) پر درجہ حرارت $T(x,y) = 4x^2 - 4xy + y^2$ ہے۔ ایک چیونٹی رداس 5 کے دائرہ پر، جس کا مرکز مبدا پر ہے، حرکت کرتی ہے۔ اس چیونٹی کو زیادہ سے زیادہ اور کم سے کم کتنے درجہ حرارت کا سامنا کرنا ہو گا؟

سوال ۱۳.۴۵۸: آپ کو تیل ذخیرہ کرنے کے لئے حوض بنانے کو کہا گیا ہے۔ یہ حوض بیلنی ہو گا جس کے آخری سر نصف کروی ہوں گے۔ اس کا حجم $8000\ \mathrm{m}^3$ ہو گا۔ آپ کو کم سے کم چادر استعمال کر کے حوض بنانا ہے۔ اس حوض کا رداس اور قد کتنا ہو گا؟

تین متغیرات اور ایک شرط

سوال ۱۳.۴۵۹: مستوی $x + 2y + 3z = 13$ پر $(1,1,1)$ کو نزدیک تر نقطہ تلاش کریں۔

سوال ۱۳.۴۶۰: کرہ $x^2 + y^2 + z^2 = 4$ پر وہ نقطہ تلاش کریں جو $(1,-1,1)$ سے دور تر ہو۔

سوال ۱۳.۴۶۱: مبدا سے سطح $x^2 + y^2 - z^2 = 1$ کا کم تر فاصلہ تلاش کریں۔

سوال ۱۳.۴۶۲: سطح $z = xy + 1$ پر مبدا کو قریب تر نقطہ تلاش کریں۔

سوال ۱۳.۴۶۳: سطح $z^2 = xy + 4$ پر مبدا کو قریب تر نقطہ تلاش کریں۔

سوال ۱۳.۴۶۴: سطح $xyz = 1$ پر مبدا کو قریب تر نقطہ تلاش کریں۔

سوال ۱۳.۴۶۵: کرہ $x^2 + y^2 + z^2 = 30$ پر $f(x, y, z) = x - 2y + 5z$ کی زیادہ سے زیادہ اور کم سے کم قیمتیں تلاش کریں۔

سوال ۱۳.۴۶۶: کرہ $x^2 + y^2 + z^2 = 25$ پر وہ نقاط تلاش کریں جن پر $f(x, y, z) = x + 2y + 3z$ کی زیادہ سے زیادہ اور کم سے کم قیمتیں پائی جاتی ہوں۔

سوال ۱۳.۴۶۷: تین ایسے حقیقی اعداد تلاش کریں جن کا مجموعہ 9 اور ان کے مربعوں کا مجموعہ کم سے کم ہو۔

سوال ۱۳.۴۶۸: اگر $x + y + z^2 = 16$ ہو تب مثبت اعداد x ، y اور z کا زیادہ سے زیادہ حاصل ضرب کتنا ہو گا؟

سوال ۱۳.۴۶۹: اکائی کرہ میں محصور زیادہ سے زیادہ حجم کے بند مستطیلی ڈبہ کے اضلاع تلاش کریں۔

سوال ۱۳.۴۷۰: ربع اول میں زیادہ سے زیادہ حجم کے ایسے بند مستطیل ڈبہ کا حجم تلاش کریں جس کی دیواریں مستوی سطحوں میں ہوں اور جس کا راس $\frac{x}{a} + \frac{y}{b} + \frac{z}{c} = 1$ ، جہاں $a > 0, b > 0, c > 0$ ہے، کو چھوتا ہو۔

سوال ۱۳.۴۷۱: خلائی تحقیق کے اختتام پر ترخیمی صورت

$$4x^2 + y^2 + 4z^2 = 16$$

کا خلائی جہاز زمینی ہوا میں داخل ہوتے ہی گرم ہونا شروع ہوتا ہے۔ ایک گھنٹہ بعد خلائی جہاز کی سطحی نقطہ (x, y, z) پر درجہ حرارت

$$T(x, y, z) = 8x^2 + 4yz - 16z + 600$$

ہے۔ اس جہاز کی سطح پر گرم ترین نقطہ تلاش کریں۔

سوال ۱۳.۴۷۲: کرہ $x^2 + y^2 + z^2 = 1$ کے سطحی نقطہ (x, y, z) پر درجہ حرارت $T(x, y, z) = 400xyz^2$ سیلسیئس ہے۔ اس کرہ پر زیادہ سے زیادہ اور کم سے کم درجہ حرارت تلاش کریں۔

سوال ۱۳.۴۷۳: اقتصادیات سے ایک مثال

دو اشیاء G_1 اور G_2 کی تعداد x اور y کی افادیت کو بعض اوقات تفاعل $U(x, y)$ سے ناپا جاتا ہے۔ مثال کے طور پر G_1 اور G_2 وہ دو کیمیا ہو سکتے ہیں جن کی مختلف مقداریں استعمال کرتے ہوئے دواساز ادارہ مختلف تراکیب استعمال کرتے ہوئے دوائی تیار کرتا ہو اور مطابقتی منافع $U(x, y)$ ہو۔ اگر G_1 پر a اور G_2 پر b روپیہ فی کلو گرام لاگت آتی ہو اور ان دونوں کی خریداری کے لئے c روپیہ مختص کیے گئے ہوں تب ادارے کا سربراہ $ax + by = c$ کی زیر شرط $U(x, y)$ کی قیمت کو زیادہ سے زیادہ بنانا چاہے گا جو ترکیب لیگرینج ضاربین سے حاصل کرنا ممکن ہو گا۔

فرض کریں

$$U(x, y) = xy + 2x, \quad ax + by = c = 2x + y = 30$$

ہوں تب U کی مشروط زیادہ سے زیادہ قیمت اور مطابقتی x اور y تلاش کریں۔

سوال ۱۳.۴۷۴: ایک سیارہ پر آپ ریڈیائی دوربین کو اس مقام پر نسب کرنا چاہتے ہو جہاں سیارہ کی مقناطیسی میدان کمزور ترین ہو تا کہ دوربین کی کارکردگی میں خلل اندازی کو کم سے کم ہو۔ اس سیارہ کا رداس 6 اکائیاں ہے۔ محددی نظام کے مبدا کو سیارہ کے مرکز پر رکھتے ہوئے، سیارہ کا مقناطیسی میدان $M(x,y,z) = 6x - y^2 + xz + 60$ ہے۔ آپ ریڈیائی دوربین کو کہاں نسب کریں گے؟

لیگرینج ضاربین مع دو شرائط

سوال ۱۳.۴۷۵: تفاعل $f(x,y,z) = x^2 + 2y - z^2$ کی قیمت کو زیر شرائط $2x - y = 0$ اور $y + z = 0$ زیادہ سے زیادہ بنائیں۔

سوال ۱۳.۴۷۶: زیر $x + 2y + 3z = 6$ اور $x + 3y + 9z = 9$ تفاعل $f(x,y,z) = x^2 + y^2 + z^2$ کی قیمت کو کم سے کم بنائیں۔

سوال ۱۳.۴۷۷: سطح $y + 2z = 12$ اور سطح $x + y = 6$ کی تقاطع پر مبدا کو قریب تر نقطہ تلاش کریں۔

سوال ۱۳.۴۷۸: سطح $2x - y = 0$ اور سطح $y + z = 0$ کی منحنی تقاطع پر $f(x,y,z) = x^2 + 2y - z^2$ کی زیادہ سے زیادہ قیمت تلاش کریں۔

سوال ۱۳.۴۷۹: مستوی $z = 1$ اور کرہ $x^2 + y^2 + z^2 = 10$ کے تقاطع پر $f(x,y,z) = x^2yz + 1$ کی انتہائی قیمتیں تلاش کریں۔

سوال ۱۳.۴۸۰: (ا) سطح $x + y + z = 40$ اور سطح $x + y - z = 0$ کی خط تقاطع پر $w = xyz$ کی زیادہ سے زیادہ قیمت تلاش کریں۔ (ب) جیومیٹریائی دلیل دیتے ہوئے ثابت کریں کہ آپ نے w کی زیادہ سے زیادہ قیمت حاصل کی ہے نا کہ اس کی کم سے کم قیمت۔

سوال ۱۳.۴۸۱: مستوی $y - x = 0$ کرہ $x^2 + y^2 + z^2 = 4$ کو ایک دائرہ میں قطع کرتا ہے۔ اس دائرہ پر $f(x,y,z) = xy + z^2$ کی انتہائی قیمتیں تلاش کریں۔

سوال ۱۳.۴۸۲: مستوی $2y + 4z = 5$ اور مخروط $z^2 = 4x^2 + 4y^2$ کے تقاطع پر مبدا کو قریب تر نقطہ تلاش کریں۔

نظریہ اور مثالیں

سوال ۱۳.۴۸۳: $\nabla f = \lambda \nabla g$ کافی نہیں ہے۔

اگرچہ زیر شرط $g(x,y) = 0$ تفاعل $f(x,y)$ کی انتہائی قیمتوں کے ہونے کے لئے تعلق $\nabla f = \lambda \nabla g$ لازمی ہے، یہ تعلق از خود اس بات کی ضمانت نہیں دیتا کہ اس تفاعل کی انتہائی قیمتیں موجود ہوں گی۔ مثال کے طور پر زیر شرط $xy = 16$ ترکیب لیگرینج ضاربین کی مدد سے $f(x,y) = x + y$ کی زیادہ سے زیادہ قیمت تلاش کرنے کی کوشش کریں۔ یہ ترکیب آپ کو دو نقاط $(4,4)$ اور $(-4,-4)$ دے گی جن پر توقع کی جا سکتی ہے کہ f کی زیادہ سے زیادہ قیمت پائی جاتی ہو۔ اس کے باوجود قطع زائد $xy = 16$ پر $x + y$ کی کوئی زیادہ سے زیادہ قیمت نہیں پائی جاتی ہے۔ آپ ربع اول میں مبدا سے جتنے دور چلتے ہیں، f کی قیمت اتنی زیادہ ہو گی۔

سوال ۱۳.۴۸۴: کمتر مربعی مستوی

مستوی $z = Ax + By + C$ کو درج ذیل نقاط (x_k, y_k, z_k) پر بٹھانا مقصود ہے۔

$$(0,0,0), \quad (0,1,1), \quad (1,1,1), \quad (1,0,-1)$$

مستقل A ، B اور C کی وہ قیمتیں تلاش کریں جو انحرافات کے مربع کے مجموعہ

$$\sum_{k=1}^{4}(Ax_k + By_k + C - z_k)^2$$

کی قیمت کو کم سے کم بناتے ہوں۔

سوال ۱۳.۴۸۵: (ا) کارتیسی محددی abc نظام کے مبدا پر رداس r کا کرہ رکھا گیا ہے۔ دکھائیں کہ اس کرہ پر $a^2b^2c^2$ کی زیادہ سے زیادہ قیمت $\left(\frac{r^2}{3}\right)^3$ ہو گی۔ (ب) جزو-ا استعمال کرتے ہوئے دکھائیں کہ غیر منفی اعداد a ، b اور c کے لئے

$$(abc)^{1/3} \leq \frac{a+b+c}{3}$$

ہو گا، یعنی، تین اعداد کا ہندسی اوسط اس کے حسابی اوسط جتنا یا اس سے کم ہو گا۔

سوال ۱۳.۴۸۶: فرض کریں $a_1, a_2, \cdots, a_n$ مثبت n اعداد ہیں۔ زیر شرط $\sum_{i=1}^{n} x_i^2 = 1$ مجموعہ $\sum_{i=1}^{n} a_i x_i$ کی زیادہ سے زیادہ قیمت تلاش کریں۔

کمپیوٹر کا استعمال

سوال ۱۳.۴۸۷ تا سوال ۱۳.۴۹۲ میں کمپیوٹر کی مدد سے ترکیب لیگرینج ضاربین استعمال کرتے ہوئے مشروط انتہائی قیمتیں دریافت کریں۔

ا. تفاعل f ، جس کی قیمت کو زیر شرائط $g_1 = 0$ اور $g_2 = 0$ بہتر بنانا مقصود ہے، سے تفاعل $h = f - \lambda_1 g_1 - \lambda_2 g_2$ حاصل کریں۔

ب. بشمول λ_1 اور λ_2 کے لحاظ سے، h کی تمام جزوی یک رتبی تفرقات حاصل کر کے 0 کے برابر رکھیں۔

ج. جزو-ب میں حاصل نظام مساوات کو، بشمول λ_1 اور λ_2 ، تمام متغیرات کے لئے حل کریں۔

د. جزو-ج میں ہر نقطہ حل پر f کی قیمت حاصل کر کے مشروط انتہائی قیمتیں دریافت کریں۔

سوال ۱۳.۴۸۷: زیر شرائط $x^2 + y^2 - 2 = 0$ اور $x^2 + z^2 - 2 = 0$ تفاعل $f(x, y, z) = xy + yz$ کی کم سے کم قیمت تلاش کریں۔

سوال ۱۳.۴۸۸: زیر شرائط $x^2 + y^2 - 1 = 0$ اور $x - z = 0$ تفاعل $f(x, y, z) = xyz$ کی کم سے کم قیمت تلاش کریں۔

سوال ۱۳.۴۸۹: زیر شرائط $2y + 4z - 5 = 0$ اور $4x^2 + 4y^2 - z^2 = 0$ تفاعل $f(x, y, z) = x^2 + y^2 + z^2$ کی زیادہ سے زیادہ قیمت تلاش کریں۔

سوال ۱۳.۴۹۰: زیر شرائط $x^2 - xy + y^2 - z^2 - 1 = 0$ اور $x^2 + y^2 - 1 = 0$ تفاعل $f(x, y, z) = x^2 + y^2 + z^2$ کی کم سے کم قیمت تلاش کریں۔

سوال ۱۳.۴۹۱: زیر شرائط $2x - y + z - w - 1 = 0$ اور $x + y - z + w - 1 = 0$ تفاعل $f(x, y, z, w) = x^2 + y^2 + z^2 + w^2$ کی کم سے کم قیمت تلاش کریں۔

سوال ۱۳.۴۹۲: لکیر $y = x + 1$ سے قطع مکافی $y^2 = x$ تک فاصلہ تلاش کریں۔(اشارہ: فرض کریں لکیر پر (x, y) ایک نقطہ ہے اور (w, z) قطع مکافی پر ایک نقطہ ہے۔آپ $(x - w)^2 + (y - z)^2$ کی قیمت کم سے کم چاہتے ہیں۔)

۱۳.۱۰ کلیہ ٹیلر

اس حصہ میں کلیہ ٹیلر (حصہ ۹.۱۱) استعمال کرتے ہوئے ہم مقامی انتہائی قیمتوں (حصہ ۱۳.۸) کا دور تبی تفرقی پرکھ اور دو غیر تابع متغیرات کے تفاعل کی خط بندی کا کلیہ (مساوات ۵) خلل اخذ کرتے ہیں۔کلیہ ٹیلر کے استعمال سے دو متغیری تفاعل کی تمام رتبہ کی کثیر رکنی تخمین کے کلیہ کو وسعت ملتی ہے۔

دور تبی تفرقی پرکھ کا اشتقاق

فرض کریں خطہ R میں تفاعل $f(x, y)$ کے استمراری جزوی تفرقات پائے جاتے ہیں اور اس خطہ میں نقطہ $N(a, b)$ پایا جاتا ہے جس پر $f_x = f_y = 0$ ہے۔مزید فرض کریں کہ h اور k اتنے چھوٹے ہیں کہ نقطہ $S(a + h, y + k)$ اور S سے N تک قطعے، R میں پائے جاتے ہیں۔ہم قطعہ NS کی مقدار معلوم مساوات لکھتے ہیں:

$$x = a + th, \quad y = b + tk, \quad 0 \le t \le 1$$

اگر $F(t) = f(a + th, b + tk)$ ہو تب زنجیری قاعدہ سے درج ذیل ہو گا۔

$$F'(t) = f_x \frac{\mathrm{d}x}{\mathrm{d}t} + f_y \frac{\mathrm{d}y}{\mathrm{d}t} = hf_x + kf_y$$

چونکہ f_x اور f_y قابل تفرق ہیں (ان کے استمراری جزوی تفرقات پائے جاتے ہیں) لہٰذا t کے لحاظ سے F' قابل تفرق ہو گا۔یوں درج ذیل لکھا جا سکتا ہے۔

$$\begin{aligned} F'' &= \frac{\partial F'}{\partial x}\frac{\mathrm{d}x}{\mathrm{d}t} + \frac{\partial F'}{\partial y}\frac{\mathrm{d}y}{\mathrm{d}t} = \frac{\partial}{\partial x}(hf_x + kf_y) \cdot h + \frac{\partial}{\partial y}(hf_x + kf_y) \cdot k \\ &= h^2 f_{xx} + 2hkf_{xy} + k^2 f_{yy} \qquad\qquad f_{xy} = f_{yx} \end{aligned}$$

چونکہ $[0, 1]$ پر F اور F'' استمراری ہیں اور $(0, 1)$ پر F' قابل تفرق ہے، ہم $n = 2$ اور $a = 0$ لیتے ہوئے 0 اور 1 کے بیچ کسی c کے لئے کلیہ ٹیلر سے

$$F(1) = F(0) + F'(0)(1 - 0) + F''(c)\frac{(1 - 0)^2}{2}$$

$$F(1) = F(0) + F'(0) + \frac{1}{2}F''(c) \tag{۱}$$

حاصل کر سکتے ہیں۔مساوات ۱ کو f کی صورت میں لکھنے سے

$$f(a+h,b+k) = f(a,b) + hf_x(a,b) + kf_y(a,b) + \frac{1}{2}(h^2 f_{xx} + 2hkf_{xy} + k^2 f_{yy})\Big|_{(a+ch,b+ck)} \tag{۲}$$

۲۱۹۹۵ حاصل ہوگا۔ چونکہ $f_x = f_y = 0$ ہے لہٰذا اس سے درج ذیل حاصل ہوگا۔

$$f(a+h,b+k) - f(a,b) = \frac{1}{2}(h^2 f_{xx} + 2hkf_{xy} + k^2 f_{yy})\Big|_{(a+ch,b+ck)} \tag{۳}$$

۲۱۹۹۶ نقطہ (a,b) پر f کی انتہائی قیمت $f(a+h,b+k) - f(a,b)$ کی علامت تعین کرتی ہے جو مساوات ۳ کے تحت درج ذیل کی علامت ہو
۲۱۹۹۷ گی۔

$$Q(c) = (h^2 f_{xx} + 2hkf_{xy} + k^2 f_{yy})\Big|_{(a+ch,b+ck)}$$

۲۱۹۹۸ اب اگر $Q(0) \neq 0$ ہو تب کافی چھوٹی h اور چھوٹی k کے لئے $Q(c)$ کی علامت وہی ہوگی جو $Q(0)$ کی ہوگی۔ ہم

$$Q(0) = h^2 f_{xx}(a,b) + 2hkf_{xy}(a,b) + k^2 f_{yy}(a,b) \tag{۴}$$

۲۱۹۹۹ کی علامت کی پیش گوئی (a,b) پر f_{xx} اور $f_{xx}f_{yy} - f_{xy}^2$ کی علامتوں سے کر سکتے ہیں۔ مساوات ۳ کے دونوں اطراف کو f_{xx} سے ضرب
۲۲۰۰۰ دینے کے بعد دائیں ہاتھ کی ترتیب نو سے درج ذیل لکھا جا سکتا ہے۔

$$f_{xx}Q(0) = (hf_{xx} + kf_{xy})^2 + (f_{xx}f_{yy} - f_{xy}^2)k^2 \tag{۵}$$

۲۲۰۰۱ مساوات ۵ سے درج ذیل معلومات حاصل ہوتی ہیں۔

۲۲۰۰۲ ۱. اگر (a,b) پر $f_{xx} < 0$ اور $f_{xx}f_{yy} - f_{xy}^2 > 0$ ہوں تب h اور k کی تمام غیر صفر انتہائی چھوٹی قیمتوں کے لئے $Q(0) <$
۲۲۰۰۳ 0 ہوگا اور (a,b) پر f کی مقامی زیادہ سے زیادہ قیمت پائی جائے گی۔

۲۲۰۰۴ ۲. اگر (a,b) پر $f_{xx} > 0$ اور $f_{xx}f_{yy} - f_{xy}^2 > 0$ ہوں تب h اور k کی تمام غیر صفر انتہائی چھوٹی قیمتوں کے لئے $Q(0) >$
۲۲۰۰۵ 0 ہوگا اور (a,b) پر f کی مقامی کم سے کم قیمت پائی جائے گی۔

۲۲۰۰۶ ۳. اگر (a,b) پر $f_{xx}f_{yy} - f_{xy}^2 < 0$ ہو تب h اور k کی ایسی غیر صفر انتہائی چھوٹی قیمتیں پائی جائیں گی جن کے لئے $Q(0) > 0$
۲۲۰۰۷ ہوگا اور h اور k کی ایسی غیر صفر انتہائی چھوٹی قیمتیں بھی پائی جائیں گی جن کے لئے $Q(0) < 0$ ہوگا۔ نقطہ $N_0(a,b,f(a,b))$ کے
۲۲۰۰۸ بہت نزدیک سطح $z = f(x,y)$ پر N_0 سے بلندی پر اور اس سے نیچے نقطے پائے جائیں گے لہٰذا (a,b) پر f کا نقطہ زین ہوگا۔

۲۲۰۰۹ ۴. اگر $f_{xx}f_{yy} - f_{xy}^2 = 0$ ہو تب یہ پرکھ غیر نتیجہ کن ہوگا اور ہمیں کوئی دوسرا پرکھ درکار ہوگا۔ $Q(0)$ کی ممکنہ صفر قیمت ہمیں $Q(c)$
۲۲۰۱۰ کی علامت جاننے سے روکتی ہے۔

۲۲۰۱۱ خطی تخمین کا کلیہ خلل

۲۲۰۱۲ ہم دکھانا چاہتے ہیں کہ (x_0, y_0) پر تفاعل $f(x,y)$ اور اس کی خطی تخمین $L(x,y)$ کی قیمتوں میں فرق $E(x,y)$ درج ذیل مساوات کو
۲۲۰۱۳ مطمئن کرتا ہے۔

$$\left|E(x,y)\right| \leq \frac{1}{2}B(|x-x_0|+|y-y_0|)^2$$

۲۲۰۱۴ ہم فرض کرتے ہیں کہ بند مستطیل خطہ R جس کا مرکز (x_0, y_0) ایک ایسے کھلے سلسلہ میں پایا جاتا ہے جس کے ہر نقطہ پر f کے استمراری دور تبی
۲۲۰۱۵ جزوی تفرقات پائے جاتے ہیں۔ خطہ R میں $\left|f_{xx}\right|$، $\left|f_{yy}\right|$ اور $\left|f_{xy}\right|$ کی سب سے بڑی قیمت B ہے۔

۲۲۰۱۶ ہمیں مساوات ۲ مطلوبہ عدم مساوات دیتی ہے۔ ہم a اور b کی جگہ بالترتیب x_0 اور y_0 جبکہ h اور k کی جگہ بالترتیب $x-x_0$ اور $y-y_0$
۲۲۰۱۷ پر کر کے ترتیب نو سے درج ذیل حاصل کرتے ہیں۔

$$\begin{aligned} f(x,y) &= \underbrace{f(x_0,y_0)+f_x(x_0,y_0)(x-x_0)+f_y(x_0,y_0)(y-y_0)}_{\text{خطبندی } L(x,y)} \\ &+ \underbrace{\frac{1}{2}\Big((x-x_0)^2 f_{xx}+2(x-x_0)(y-y_0)f_{xy}+(y-y_0)^2 f_{yy}\Big)\Big|_{(x_0+c(x-x_0),y_0+c(y-y_0))}}_{\text{خلل } E(x,y)} \end{aligned}$$

۲۲۰۱۸ اس مساوات سے ہمیں درج ذیل معلوم ہوتا ہے۔

$$|E| \leq \frac{1}{2}\Big(|x-x_0|^2\left|f_{xx}\right|+2|x-x_0||y-y_0|\left|f_{xy}\right|+|y-y_0|^2\left|f_{yy}\right|\Big)$$

۲۲۰۱۹ یوں اگر R پر $\left|f_{xx}\right|$، $\left|f_{yy}\right|$ اور $\left|f_{xy}\right|$ کی قیمتوں کی بالائی حد بندی B ہو تب درج ذیل ہوگا۔

$$\begin{aligned} |E| &\leq \frac{1}{2}\Big(|x-x_0|^2 B+2|x-x_0||y-y_0|\,B+|y-y_0|^2 B\Big) \\ &\leq \frac{1}{2}B(|x-x_0|+|y-y_0|)^2 \end{aligned}$$

۲۲۰۲۰ دو متغیری تفاعل کے لئے کلیہ ٹیلر

۲۲۰۲۱ ہم $f(x,y)$ پر درج ذیل **عاملین**[۵۱] لاگو کرتے ہوئے F' اور F'' کے لئے، پہلے اخذ کیے گئے، کلیات حاصل کر سکتے ہیں۔

$$\left(h\frac{\partial}{\partial x}+k\frac{\partial}{\partial y}\right), \quad \left(h\frac{\partial}{\partial x}+k\frac{\partial}{\partial y}\right)^2 = h^2\frac{\partial^2}{\partial x^2}+2hk\frac{\partial^2}{\partial x\partial y}+k^2\frac{\partial^2}{\partial y^2}$$

---

[۵۱] operators

یہ عاملین زیادہ عمومی کلیہ

$$F^{(n)}(t) = \frac{\mathrm{d}^n}{\mathrm{d}t^n}F(t) = \left(h\frac{\partial}{\partial x} + k\frac{\partial}{\partial y}\right)^n f(x,y) \tag{۶}$$

کے پہلے دو کلیات ہیں جو کہتا ہے کہ $F(t)$ پر $\frac{\mathrm{d}^n}{\mathrm{d}t^n}$ لاگو کرنا $f(x,y)$ پر درج ذیل عامل، مسئلہ ثنائی سے پھیلانے کے بعد، لاگو کرنے کے مترادف ہے۔

$$\left(h\frac{\partial}{\partial x} + k\frac{\partial}{\partial y}\right)^n$$

اگر ایک مستطیل، جس کا مرکز (a,b) ہو، میں f کے $n + 1$ رتبہ تک جزوی تفرقات ہر نقطہ پر استراری ہوں، تب ہم $F(t)$ کے کلیہ ٹیلر کو وسعت دے کر

$$F(t) = F(0) + F'(0)t + \frac{F''(0)}{2!}t^2 + \cdots + \frac{F^{(n)}}{n!}t^n + \text{باقی}$$

لکھتے ہوئے $t = 1$ لے کر

$$F(1) = F(0) + F'(0) + \frac{F''(0)}{2!} + \cdots + \frac{F^{(n)}(0)}{n!} + \text{باقی}$$

حاصل کرتے ہیں۔ اس آخری تسلسل کے دائیں ہاتھ اولین n تفرقات میں $t = 0$ پر مساوات ۶ سے حاصل مطابقتی تعلقات پر کر کے موزوں باقی جزو جمع کرتے ہوئے درج ذیل کلیہ حاصل ہو گا۔

نقطہ (a,b) پر $f(x,y)$ کے لئے کلیہ ٹیلر

$$\begin{aligned} f(a+h,b+k) =& f(a,b) + (hf_x + kf_y)|_{(a,b)} + \frac{1}{2!}(h^2 f_{xx} + 2hkf_{xy} + k^2 f_{yy})|_{(a,b)} \\ &+ \frac{1}{3!}(h^2 f_{xxx} + 3h^2 k f_{xxy} + 3hk^2 f_{xyy} + k^3 f_{yyy})|_{(a,b)} + \cdots \\ &+ \frac{1}{n!}\left(h\frac{\partial}{\partial x} + k\frac{\partial}{\partial y}\right)^n f\Bigg|_{(a,b)} + \frac{1}{(n+1)!}\left(h\frac{\partial}{\partial x} + k\frac{\partial}{\partial y}\right)^{n+1} f\Bigg|_{(a+ch,b+ck)} \end{aligned} \tag{۷}$$

اولین n تفرقی اجزاء کی قیمتیں (a,b) پر حاصل کی جاتی ہیں۔ آخری جزو کی قیمت (a,b) اور $(a+h, b+k)$ کے بیچ قطعہ پر کسی نقطہ $(a+ch, b+ck)$ پر حاصل کی جاتی ہے۔

اگر $(a,b) = (0,0)$ ہو اور ہم h اور k کو غیر تابع متغیرات تصور کر کے بالترتیب x اور y سے ظاہر کریں تب مساوات ۷ درج ذیل سادہ صورت اختیار کرتی ہے۔

۲۲۰۳۶ **مبدا پر $f(x,y)$ کے لئے کلیہ ٹیلر**

۲۲۰۳۷

$$\begin{aligned} f(x,y) =& f(0,0) + xf_x + yf_y + \frac{1}{2!}(x^2 f_{xx} + 2xyf_{xy} + y^2 f_{yy}) \\ &+ \frac{1}{3!}(x^3 f_{xxx} + 3x^2 y f_{xxy} + 3xy^2 f_{xyy} + y^3 f_{yyy}) + \cdots \\ &+ \frac{1}{n!}\left(x\frac{\partial}{\partial x} + y\frac{\partial}{\partial y}\right)^n f + \frac{1}{(n+1)!}\left(x\frac{\partial}{\partial x} + y\frac{\partial}{\partial y}\right)^{n+1} f\Bigg|_{(cx,cy)} \end{aligned} \tag{۸}$$

۲۲۰۳۸ اولین n تفرقی اجزاء کی قیمتیں $(0,0)$ پر حاصل کی جاتی ہیں۔ آخری جو کی قیمت مبدا سے (x,y) تک قطعہ پر کسی نقطہ (cx,cy) پر حاصل کی
۲۲۰۳۹ جاتی ہے۔

۲۲۰۴۰ کلیہ ٹیلر ہمیں دو متغیری تفاعل کی کثیر رکنی تخمین مہیا کرتا ہے۔ اولین n تفرقی اجزاء کثیر رکنی دیتے ہیں جبکہ آخری جزو تخمینی خلل دیتا ہے۔ کلیہ ٹیلر کے اولین
۲۲۰۴۱ تین اجزاء تفاعل کی خط بندی دیتے ہیں۔ خط بندی سے بہتر نتائج کے حصول کے لئے ہم مزید اجزاء شامل کرتے ہیں۔

۲۲۰۴۲ مثال ۱۳.۶۰: تفاعل $f(x,y) = \sin x \sin y$ کی مبدا کے قریب مربعی (دو درجی) تخمین تلاش کریں۔ یہ تخمین $|x| \leq 0.1$ اور
۲۲۰۴۳ $|y| \leq 0.1$ کی صورت میں کتنی درست ہو گی؟

۲۲۰۴۴ حل: ہم مساوات ۸ میں $n = 2$ لیتے ہیں:

$$\begin{aligned} f(x,y) =& f(0,0) + (xf_x + yf_y) + \frac{1}{2}(x^2 f_{xx} + 2xyf_{xy} + y^2 f_{yy}) \\ &+ \frac{1}{6}(x^3 f_{xxx} + 3x^2 y f_{xxy} + 3xy^2 f_{xyy} + y^3 f_{yyy})|_{(cx,yx)} \end{aligned}$$

۲۲۰۴۵ اس میں

$$\begin{aligned} f(0,0) &= \sin x \sin y|_{(0,0)} = 0, & f_{xx}(0,0,) &= -\sin x \sin y|_{(0,0)} = 0, \\ f_x(0,0) &= \cos x \sin y|_{(0,0)} = 0, & f_{xy}(0,0) &= \cos x \cos y|_{(0,0)} = 1, \\ f_y(0,0) &= \sin x \cos y|_{(0,0)} = 0, & f_{yy}(0,0) &= -\sin x \sin y|_{(0,0)} = 0 \end{aligned}$$

۲۲۰۴۶ لیتے ہوئے

$$\begin{aligned} f(x,y) &= \sin x \sin y \approx 0 + 0 + 0 + \frac{1}{2}(x^2(0) + 2xy(1) + y^2(0)), \\ f(x,y) &= \sin x \sin y \approx xy \end{aligned}$$

۲۲۰۴۷ حاصل ہوتا ہے۔ اس تخمین میں خلل

$$E(x,y) = \frac{1}{6}(x^3 f_{xxx} + 3x^2 y f_{xxy} + 3xy^2 f_{xyy} + y^3 f_{yyy})|_{(cx,cy)}$$

ہوگا۔ چونکہ تین رتبی تفرقات sin اور cos کے حاصل ضرب ہیں لہٰذا ان کی مطلق قیمتیں کسی صورت 1 سے زیادہ نہیں ہو سکتی ہیں۔ مزید $|x| \leq 0.1$ اور $|y| \leq 0.1$ ہیں لہٰذا

$$E(x,y) \leq \frac{1}{6}((0.1)^3 + 3(0.1)^3 + 3(0.1)^3 + (0.1)^3) \leq \frac{8}{6}(0.1)^3 \leq 0.00134 \quad \text{(اوپر کو پورا پور)}$$

ہوگا۔ اگر $|x| \leq 0.1$ اور $|y| \leq 0.1$ ہوں تب خلل کسی صورت 0.00134 سے تجاوز نہیں کرے گا۔ □

سوالات

مربعی اور کعبی تخمین

سوال ۱۳.۴۹۳ تا سوال ۱۳.۵۰۲ میں مبدا پر کلیہ ٹیلر استعمال کرتے ہوئے مبدا کے قریب f کی مربعی اور کعبی تخمین تلاش کریں۔

سوال ۱۳.۴۹۳: $f(x,y) = xe^y$

سوال ۱۳.۴۹۴: $f(x,y) = e^x \cos y$

سوال ۱۳.۴۹۵: $f(x,y) = y \sin x$

سوال ۱۳.۴۹۶: $f(x,y) = \sin x \cos y$

سوال ۱۳.۴۹۷: $f(x,y) = e^x \ln(1+y)$

سوال ۱۳.۴۹۸: $f(x,y) = \ln(2x+y+1)$

سوال ۱۳.۴۹۹: $f(x,y) = \sin(x^2+y^2)$

سوال ۱۳.۵۰۰: $f(x,y) = \cos(x^2+y^2)$

سوال ۱۳.۵۰۱: $f(x,y) = \frac{1}{1-x-y}$

سوال ۱۳.۵۰۲: $f(x,y) = \frac{1}{1-x-y+xy}$

سوال ۱۳.۵۰۳: مبدا پر $f(x,y) = \cos x \cos y$ کی مربعی تخمین کلیہ ٹیلر کی مدد سے حاصل کریں۔ تخمین کی خلل $|x| \leq 0.1$ اور $|y| \leq 0.1$ کی صورت میں تلاش کریں۔

سوال ۱۳.۵۰۴: مبدا پر $f(x,y) = e^x \sin y$ کی مربعی تخمین کلیہ ٹیلر کی مدد سے حاصل کریں۔ تخمین کی خلل $|x| \leq 0.1$ اور $|y| \leq 0.1$ کی صورت میں تلاش کریں۔

باب ۱۴

تکمل بالکثرت

جائزہ

تکمل سے حل دو اور تین متغیری تفاعل کی نوعیت تکمل سے حل ایک متغیری تفاعل کے مسائل کی طرح ہوتی ہے، بس یہ زیادہ عمومی ہوتے ہیں۔ گزشتہ ابواب کی طرح ہم ایک متغیری تفاعل کی معلومات استعمال کرتے ہوئے دو اور تین متغیری تفاعل کا حساب آگے بڑھا سکتے ہیں۔

۱۴.۱ دوہرا تکملات

ہم xy مستوی میں محدود خطہ پر استراری تفاعل $f(x,y)$ کا تکمل حاصل کرنا سکھاتے ہیں۔ یہاں متعارف کیے جانے والا دوہرا (دوگنّا) تکمل اور باب ۵ میں متعارف کردہ ایک گنّا تکمل میں بہت ساری یکساں خوبیاں پائی جاتی ہیں۔ ہر دوہرا تکمل کی قیمت ایک گنّا تکمل کی ترکیب سے مراحل میں حاصل کی جا سکتی ہے۔

مستطیل پر دوہرا تکملات

فرض کریں تفاعل $f(x,y)$ درج ذیل مستطیل خطہ R میں معین ہے۔

$$R: \quad a \leq x \leq b, \quad c \leq y \leq d$$

ہم تصور میں R پر x اور y محور کے متوازی لکیروں کا ایک جال بچھاتے ہیں جو R کو چھوٹے چھوٹے رقبوں $\Delta S = \Delta x \Delta y$ میں تقسیم کرتے ہیں (شکل ۱.۱۴)۔ ہم ان رقبوں کو کسی ترتیب ΔS_1 ، ΔS_2 ، ۔ ۔ ۔ ، ΔS_n سے شمار کر کے ہر چھوٹے رقبہ ΔS_k میں ایک نقطہ (x_k, y_k) منتخب کر کے درج ذیل مجموعہ J_n لیتے ہیں۔

$$J_n = \sum_{k=1}^{n} f(x_k, y_k) \Delta S_k \tag{۱}$$

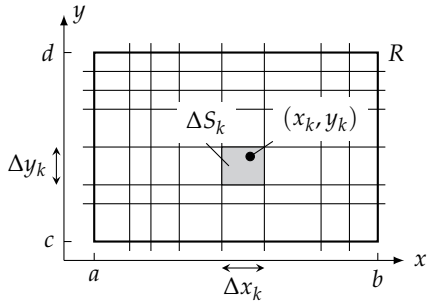

شکل ۱.۱۴: خطہ R کو مستطیل جال چھوٹے مستطیل خانوں میں تقسیم کرتا ہے جن کے رقبے $\Delta S_k = \Delta x_k \Delta y_k$ ہوں گے۔

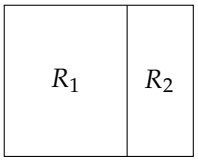

$$\iint\limits_{R_1 \cup R_2} f(x,y)\,\mathrm{d}S = \iint\limits_{R_1} f(x,y)\,\mathrm{d}S + \iint\limits_{R_2} f(x,y)\,\mathrm{d}S$$

شکل ۲.۱۴: دوہرا تکملات بھی ایک گنا تکملات کی طرح مجموعیت دائرہ کار کی خاصیت رکھتے ہیں۔

۲۲۰۸۳ اگر پورے R میں f استراری ہو، تب، ہم جال کے خانوں کو اتنا چھوٹا کر سکتے ہیں کہ Δx اور Δy دونوں صفر تک پہنچنے کی کوشش کریں۔ ایسا کرنے
۲۲۰۸۴ سے مساوات ۱ میں دیا گیا مجموعہ ایک تحدیدی قیمت تک پہنچے گا جس کو R پر f کا **دوہرا تکمل**[1] کہتے ہیں۔ اس کو علامتی طور پر

$$\iint\limits_R f(x,y)\,\mathrm{d}S \quad \text{یا} \quad \iint\limits_R f(x,y)\,\mathrm{d}x\,\mathrm{d}y$$

۲۲۰۸۵ لکھا جاتا ہے۔ یوں درج ذیل ہو گا۔

$$\iint\limits_R f(x,y)\,\mathrm{d}S = \lim_{\Delta S \to 0} \sum_{k=1}^{n} f(x_k, y_k)\Delta S_k \tag{۲}$$

۲۲۰۸۶ واحد متغیری تفاعل کی طرح، جب تک خانہ بندی کے دونوں معیار صفر تک پہنچتے ہوں، وقفات $[a,b]$ اور $[c,d]$ کی طرز تقسیم کا مجموعہ کی حد پر کوئی
۲۲۰۸۷ اثر نہیں پایا جائے گا۔ مساوات ۲ میں حد کی قیمت، ناتور قبات ΔS_k کی ترتیب شمار پر اور نا ہی ہر ΔS_k میں نقطہ (x_k, y_k) کے مقام پر منحصر ہو گی۔
۲۲۰۸۸ انفرادی مجموعات J_n کی قیمتیں ان پر ضرور منحصر ہوں گی لیکن ان مجموعات کا حد آخر میں وہی ایک ہو گا۔ استراری f کے لئے اس حد کی وجودیت اور یکتائی
۲۲۰۸۹ کے ثبوت اعلیٰ نصاب میں دیے جاتے ہیں۔ دوہرا تکمل کی وجودیت کے لئے f کا استرار کافی لیکن غیر لازمی شرط ہے۔ یہ حد بہت سارے غیر استراری تفاعل
۲۲۰۹۰ کے لئے بھی موجود ہے۔

۲۲۰۹۱ دوہرا تکملات کے خواص

۲۲۰۹۲ ایک گنا تکملات کی طرح، دوہرا تکملات کے ایسا الجبرائی خواص پائے جاتے ہیں جو حساب اور عملی استعمال کے لئے کار آمد ثابت ہوتے ہیں۔

۲۲۰۹۳ ۱. $\iint\limits_R kf(x,y)\,\mathrm{d}S = k\iint\limits_R f(x,y)\,\mathrm{d}S$ جہاں k کوئی مستقل ہے۔

[1] doubleintegral

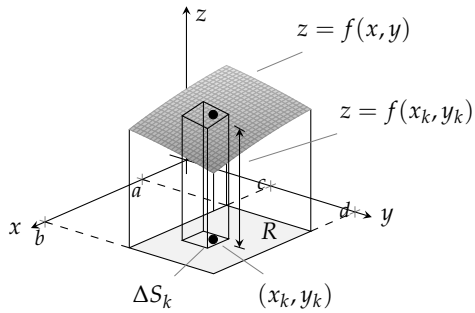

شکل ۱۴.۳: ٹھوس جسم کو تخمینی طور پر متعدد مستطیل منشور نما سے ظاہر کرتے ہوئے ہم زیادہ عمومی منشور نما کے حجم کو بطور دوہرا تکمل تعین کر سکتے ہیں۔ یہاں منشور کا حجم R پر $f(x, y)$ کا دوہرا تکمل ہو گا۔

۲۲۰۹۳ ب. $$\iint\limits_R (f(x,y) \mp g(x,y))\,\mathrm{d}S = \iint\limits_R f(x,y)\,\mathrm{d}S \mp \iint\limits_R g(x,y)\,\mathrm{d}S$$

۲۲۰۹۵ ج. اگر R پر $f(x, y) \geq 0$ ہو تب $\iint\limits_R f(x,y)\,\mathrm{d}S \geq 0$ ہو گا۔

۲۲۰۹۶ د. اگر R پر $f(x, y) \geq g(x, y)$ ہو تب $\iint\limits_R f(x,y)\,\mathrm{d}S \geq \iint\limits_R g(x,y)\,\mathrm{d}S$ ہو گا۔

۲۲۰۹۷ یہ خواص ایک گنا تکملات کے خواص کی طرح ہیں (حصہ ۵.۶)۔ ان کے علاوہ درج ذیل مجموعیت کا خواص بھی پایا جاتا ہے

۲۲۰۹۸ ھ. $$\iint\limits_R f(x,y)\,\mathrm{d}S = \int\limits_{R_1} f(x,y)\,\mathrm{d}S + \iint\limits_{R_2} f(x,y)\,\mathrm{d}S$$

۲۲۰۹۹ جہاں ایک دوسرے کو ناڈھانپنے والے مستطیل R_1 اور R_2 خطوں کا اشتراک R ہے (شکل ۱۴.۲)۔ یہاں بھی ہم ثبوت پیش نہیں کریں گے۔

۲۲۱۰۰ دوہرا تکملات بطور حجم

۲۲۱۰۱ مثبت $f(x, y)$ کی صورت میں ہم مستطیل خطہ R پر f کے دوہرا تکمل کو ٹھوس منشور نما کا حجم تصور کر سکتے ہیں جس کی نچلا سطح R اور بالائی سطح
۲۲۱۰۲ $z = f(x, y)$ ہو گی (شکل ۱۴.۳)۔ مجموعہ $J_n = \sum f(x_k, y_k)\Delta S_k$ میں ہر رکن $f(x_k, y_k)\Delta S_k$ ایک انتصابی مستطیلی منشور
۲۲۱۰۳ نما کا حجم ہو گا جو بنیاد ΔS_k پر سیدھا کھڑے ٹھوس خطے کے حجم کی تخمینی قیمت ہو گی۔ یوں مجموعہ J_n پورے ٹھوس جسم کے حجم کی تخمین ہو گی۔ اس حجم کی
۲۲۱۰۴ تعریف درج ذیل ہے۔

$$\text{حجم} = \lim J_n = \iint\limits_R f(x,y)\,\mathrm{d}S \tag{۳}$$

۲۲۱۰۵ جیسا ہم توقع کرتے ہیں، حجم تلاش کرنے کی مذکورہ بالا زیادہ عمومی ترکیب سے حاصل نتائج، باب ۶ میں پیش کی گئی ترکیب کے نتائج کے عین مطابق ہیں۔ ہم اس
۲۲۱۰۶ حقیقت کا ثبوت یہاں پیش نہیں کریں گے۔

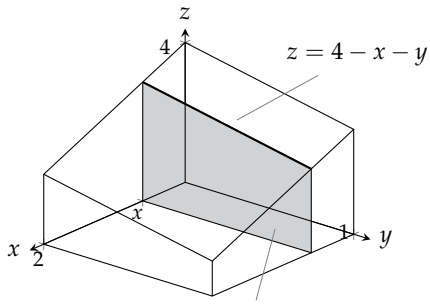

$S(x) = \int_{y=0}^{y=1} (4 - x - y)\,\mathrm{d}y$

شکل ۱۴.۴: رقبہ عمودی تراش $S(x)$ حاصل کرنے کے لئے ہم x کو مستقل ٹھراتے ہوئے y کے لحاظ سے تکمل لیتے ہیں۔

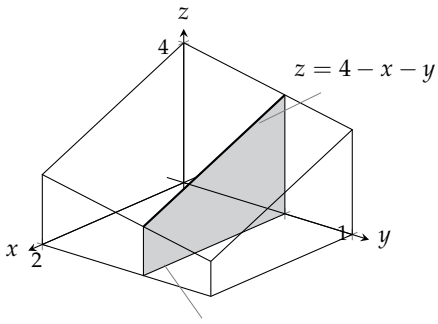

$S(y) = \int_{x=0}^{x=2} (4 - x - y)\,\mathrm{d}x$

شکل ۱۴.۵: رقبہ عمودی تراش $S(y)$ حاصل کرنے کے لئے ہم y کو مستقل ٹھراتے ہوئے x کے لحاظ سے تکمل لیتے ہیں۔

۲۲۱۰۷ دوہرا تکمل کے حصول کا مسئلہ فوبینی

۲۲۱۰۸ فرض کریں ہم مستوی xy میں مستطیل خطہ $R : 0 \leq x \leq 2,\ 0 \leq y \leq 1$ پر مستوی $z = 4 - x - y$ کے نیچے حجم تلاش کرنا
۲۲۱۰۹ چاہتے ہیں۔ اگر ہم حصہ ۶.۲ کی ترکیب استعمال کرتے ہوئے محور x کے عمودی ٹکیاں لیں (شکل ۱۴.۴) تب حجم

$$\int_{x=0}^{x=2} S(x)\,\mathrm{d}x \tag{۴}$$

۲۲۱۱۰ ہوگا جہاں x پر رقبہ عمودی تراش $S(x)$ ہے۔ ہم x کی ہر قیمت کے لئے درج ذیل تکمل سے $S(x)$ معلوم کر سکتے ہیں

$$S(x) = \int_{y=0}^{y=1} (4 - x - y)\,\mathrm{d}y \tag{۵}$$

۲۲۱۱۱ جو منحنی $z = 4 - x - y$ کے نیچے، x پر عمودی تراش کے مستوی میں، رقبہ ہوگا۔ رقبہ $S(x)$ کے حصول میں x کو مستقل تصور کرتے ہوئے
۲۲۱۱۲ y کے لحاظ سے تکمل حاصل کیا جاتا ہے۔ مساوات ۱۳ اور مساوات ۴ کو ملا کر پورے ٹھوس جسم کا حجم درج ذیل حاصل ہوگا۔

$$\begin{aligned}
\text{حجم} &= \int_{x=0}^{x=2} S(x)\,\mathrm{d}x = \int_{x=0}^{x=2} \left(\int_{y=0}^{y=1} (4 - x - y)\,\mathrm{d}y \right) \mathrm{d}x \\
&= \int_{x=0}^{x=2} \left[4y - xy - \frac{y^2}{2} \right]_{y=0}^{y=1} \mathrm{d}x = \int_{x=0}^{x=2} \left(\frac{7}{2} - x \right) \mathrm{d}x = \left[\frac{7}{2}x - \frac{x^2}{2} \right]_0^2 = 5
\end{aligned} \tag{۶}$$

۲۲۱۱۳ اگر ہم حجم تلاش کرنے کی صرف بات کرنا چاہتے ہوں تب ہم درج ذیل لکھیں گے۔

$$\text{حجم} = \int_0^2 \int_0^1 (4 - x - y)\,\mathrm{d}y\,\mathrm{d}x$$

۲۲۱۱۴ دائیں ہاتھ الجبرائی فقرہ، جسے **بارہا تکملہ**[۲] یا **اعادہ تکملہ**[۳] کہتے ہیں، کہتا ہے کہ حجم تلاش کرنے کی خاطر، پہلے x کو مستقل ٹھہراتے ہوئے y کے لحاظ سے
۲۲۱۱۵ $4 - x - y$ کا تکمل $y = 0$ تا $y = 1$ لیں اور اس کے بعد y کو مستقل ٹھہراتے ہوئے، x کے لحاظ سے حاصل نتیجہ کا تکمل $x = 0$ تا
۲۲۱۱۶ $x = 2$ لیں۔

۲۲۱۱۷ اگر ہم محور y کے عمودی ٹکیاں لیتے تب نتیجہ کیا ہوتا (شکل ۱۴.۵)؟ ایسی صورت میں ایک علامتی عمودی تراش رقبہ، y کا تفاعل ہوگا:

$$S(y) = \int_{x=0}^{x=2} (4 - x - y)\,\mathrm{d}x = \left[4x - \frac{x^2}{2} - xy\right]_{x=0}^{x=2} = 6 - 2y \tag{۷}$$

۲۲۱۱۸ یوں پورے جسم کا حجم

$$\text{حجم} = \int_{y=0}^{y=1} S(y)\,\mathrm{d}y = \int_{y=0}^{y=1} (6 - 2y)\,\mathrm{d}y = \left[6y - y^2\right]_0^1 = 5 \tag{۸}$$

۲۲۱۱۹ ہوگا جو ہماری گزشتہ حساب کے عین مطابق ہے۔

۲۲۱۲۰ ہم اب حجم کی بات کرتے ہوئے

$$\text{حجم} = \int_0^1 \int_0^2 (4 - x - y)\,\mathrm{d}x\,\mathrm{d}y$$

۲۲۱۲۱ لکھ سکتے ہیں۔ دائیں ہاتھ الجبرائی فقرہ کہتا ہے کہ حجم تلاش کرنے کی خاطر، پہلے y کو مستقل ٹھہراتے ہوئے x کے لحاظ سے $4 - x - y$ کا تکمل $x =$
۲۲۱۲۲ 0 تا $x = 2$ لیں۔ اس کے بعد x کو مستقل ٹھہراتے ہوئے x کے لحاظ سے حاصل نتیجہ کا تکمل $y = 0$ تا $y = 1$ لیں۔ اس بار ہم بارہا تکمل کے
۲۲۱۲۳ حصول میں پہلے x اور بعد میں y کے لحاظ سے تکمل لیتے ہیں جو مساوات ۶ میں تکمل کے ترتیب کا الٹ ہے۔

۲۲۱۲۴ مذکورہ بالا دو بار حجم کے حساب کا مستطیل خطہ $R:\ 0 \le x \le 2,\ 0 \le y \le 1$ پر درج ذیل دوہرا تکمل کے ساتھ کیا تعلق ہے؟

$$\iint_R (4 - x - y)\,\mathrm{d}S$$

۲۲۱۲۵ اس کا جواب ہے کہ یہ دونوں تکمل اس دوہرا تکمل کی قیمت دیتے ہیں۔ مسئلہ فوبینی کہتا ہے کہ مستطیل خطہ پر استمراری تفاعل کا دوہرا تکمل، کسی بھی ترتیب سے،
۲۲۱۲۶ بارہا تکمل سے حاصل کیا جا سکتا ہے۔ (جناب فوبینی نے اس مسئلہ کو زیادہ عمومیت کے ساتھ ثابت کیا لیکن فی الحال اس کو ہم درج ذیل بیان کرتے ہیں۔)

---

[۲] repeatedintegral
[۳] iteratedintegral

مسئلہ ۱۴.۱: **مسئلہ فوبینی (پہلا روپ)**

اگر مستطیل خطہ $R:\ a \le x \le b,\ c \le y \le d$ پر $f(x,y)$ استمراری ہو تب درج ذیل ہو گا۔

$$\iint\limits_R f(x,y)\,\mathrm{d}S = \int_c^d \int_a^b f(x,y)\,\mathrm{d}x\,\mathrm{d}y = \int_a^b \int_c^d f(x,y)\,\mathrm{d}y\,\mathrm{d}x$$

مسئلہ فوبینی کہتا ہے کہ مستطیل خطہ پر دوہرا تکمل کی قیمت بارہا تکمل سے حاصل کی جا سکتی ہے۔ یوں دوہرا تکمل کے حصول میں ہم باری باری ایک ایک متغیر کے لحاظ سے تکمل لے سکتے ہیں۔

مسئلہ فوبینی مزید کہتا ہے کہ دوہرا تکمل کی قیمت حاصل کرتے ہوئے ہم بارہا تکمل کسی بھی ترتیب سے حل کر سکتے ہیں، جو بہت کارآمد ثابت ہوتا ہے (جیسا ہم مثال ۱۴.۳ میں دیکھتے ہیں)۔ بالخصوص حجم کی تلاش میں ہم x محور یا y محور کے عمودی سطحیں لے کر ٹکیاں کاٹ سکتے ہیں۔

مثال ۱۴.۱: خطہ $R:\ 0 \le x \le 2,\ -1 \le y \le 1$ میں $f(x,y) = 1 - 6x^2y$ کے دوہرا تکمل $\iint_R f(x,y)\,\mathrm{d}S$ کی قیمت تلاش کریں۔

حل: مسئلہ فوبینی کے تحت درج ذیل ہو گا:

$$\begin{aligned}\iint\limits_R f(x,y)\,\mathrm{d}S &= \int_{-1}^1 \int_0^2 (1-6x^2y)\,\mathrm{d}x\,\mathrm{d}y = \int_{-1}^1 \left[x - 2x^3y\right]_{x=0}^{x=2} \mathrm{d}y \\ &= \int_{-1}^1 (2-16y)\,\mathrm{d}y = \left[2y - 8y^2\right]_{-1}^1 = 4\end{aligned}$$

تکمل کی ترتیب بدلنے سے بھی یہی نتیجہ حاصل ہوتا ہے:

$$\begin{aligned}\int_0^2 \int_{-1}^1 (1-6x^2y)\,\mathrm{d}y\,\mathrm{d}x &= \int_0^2 \left[y - 3x^2y^2\right]_{y=-1}^{y=1} \mathrm{d}x \\ &= \int_0^2 \left[(1-3x^2) - (-1-3x^2)\right] \mathrm{d}x = \int_0^2 2\,\mathrm{d}x = 4\end{aligned}$$

□

آپ سے گزارش کی جاتی ہے کہ کمپیوٹر پر دوہرا تکملات کا حصول سیکھیں۔ کمپیوٹر الجبرائی پروگرام میکسما[۴] میں یہ عمل درج ذیل ہو گا۔

میکسما احکامات	درکار دوہرا تکمل
integrate(integrate($x^2 * y, x), y$);	$\iint x^2y\,\mathrm{d}x\,\mathrm{d}y$
integrate(integrate($x * \cos(y), x, 0, 1), y, -\%pi/3, \%pi/4$);	$\int_{-\pi/3}^{\pi/4} \int_0^1 x\cos y\,\mathrm{d}x\,\mathrm{d}y$

wxMaxima[۴]

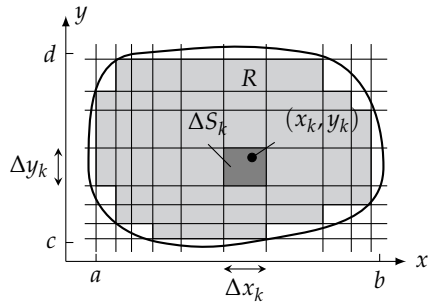

شکل ۱۴.۶: غیر مستطیل محدود خطہ کو مستطیل جال سے خانہ بند کیا گیا ہے۔

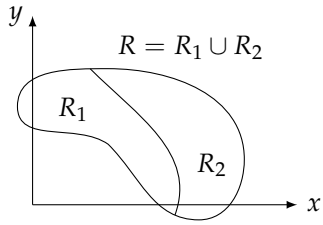

$$\iint_R f(x,y)\,\mathrm{d}S = \iint_{R_1} f(x,y)\,\mathrm{d}S + \iint_{R_2} f(x,y)\,\mathrm{d}S$$

شکل ۱۴.۷: مستطیل خطہ کی مجموعیت کی خاصیت ان غیر مستطیل خطوں کے لئے بھی کارآمد ہے جن کی پوری سرحد استمراری منحنیات سے بنی ہو۔

۲۲۱۴۲ محدود غیر مستطیل خطہ پر دوہرا تکملات

۲۲۱۴۳ محدود غیر مستطیل خطہ پر تفاعل $f(x,y)$ کا دوہرا تکمل تعین کرنے کی خاطر ہم اب بھی R پر مستطیل جال بچھاتے ہیں (شکل ۱۴.۶) لیکن جزوی مجموعہ
۲۲۱۴۴ میں صرف ان چھوٹے رقبوں $\Delta S = \Delta x \Delta y$ کو شامل کرتے ہیں جو مکمل طور پر اس خطہ میں پائے جاتے ہوں۔ ہم ان چھوٹے رقبوں کو کسی بھی ترتیب
۲۲۱۴۵ سے شمار کرتے ہوئے، ہر رقبہ ΔS_k میں کوئی نقطہ (x_k, y_k) منتخب کر کے درج ذیل مجموعہ حاصل کرتے ہیں۔

$$J_n = \sum_{k=1}^{n} f(x_k, y_k)\Delta S_k$$

۲۲۱۴۶ اس مجموعہ میں اور مستطیل خطے پر مجموعہ (مساوات ۱) میں صرف اتنا فرق ہے کہ اب شامل کردہ تمام ΔS_k مل کر خطہ R کو مکمل طور پر نہیں ڈھانپتے
۲۲۱۴۷ ہیں۔ البتہ جیسے جیسے جال کے خانوں کا رقبہ چھوٹے سے چھوٹا ہو، J_n میں اجزاء کی تعداد بڑھتی جائے گی اور R کا زیادہ سے زیادہ حصہ J_n میں شامل ہو گا۔
۲۲۱۴۸ اگر f استمراری ہو اور R کی سرحد، متغیر x کی متناہی تعداد کے استمراری تفاعل اور (یا) متغیر y کی متناہی تعداد کے استمراری تفاعل کی ترسیمات، ایک
۲۲۱۴۹ دوسرے کے ساتھ جوڑ کر حاصل کی گئی ہو، تب، بشرطیکہ مستطیل جال کے خانوں کے معیار غیر مختارانہ طور پر صفر کو پہنچتے ہوں، مجموعہ J_n کا حد موجود ہو گا۔
۲۲۱۵۰ ہم اس حد کو R پر f کا **دوہرا تکمل** کہتے ہیں:

$$\iint_R f(x,y)\,\mathrm{d}S = \lim_{\Delta S \to 0} \sum f(x,y_k)\Delta S_k$$

۲۲۱۵۱ یہ حد کم پابندی کی صورت میں بھی موجود ہو سکتا ہے۔

۲۲۱۵۲ غیر مستطیل خطہ پر استمراری تفاعل کے دوہرا تکملات کے وہی خواص ہوں گے جو مستطیل خطہ پر دوہرا تکملات کے ہوتے ہیں۔ دائرہ کار کی خواص مجموعیت کہتی
۲۲۱۵۳ ہے کہ اگر R کو ایسے دو خطوں R_1 اور R_2 میں تقسیم کیا جائے جو ایک دوسرے کو نہ ڈھانپتے ہوں اور جن کی سرحدیں متناہی تعداد کے قطعات یا ہموار

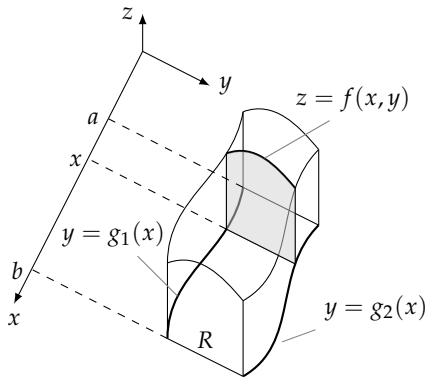

شکل ۸.۱۴: سایہ دار انتصابی تکیہ کا رقبہ $S(x) = \int_{g_1(x)}^{g_2(x)} f(x, y)\,\mathrm{d}y$ ہو گا۔ اس ٹھوس جسم کا حجم تلاش کرنے کے لئے ہم $x = a$ سے $x = b$ تک $S(x)$ کا تکمل لیں گے۔

۲۲۱۵۴ منحنیات سے بنی ہوئی ہوں (مثال کے لئے شکل ۷.۱۴ دیکھیں) تب درج ذیل ہو گا۔

$$\iint\limits_R f(x, y)\,\mathrm{d}S = \iint\limits_{R_1} f(x, y)\,\mathrm{d}S + \iint\limits_{R_2} f(x, y)\,\mathrm{d}S$$

۲۲۱۵۵ ہم R پر استمراری اور مثبت f کی صورت میں R اور $f(x, y) = z$ کے بیچ ٹھوس جسم کے حجم کی تعریف پہلے کی طرح اب بھی
۲۲۱۵۶ $\iint_R f(x, y)\,\mathrm{d}S$ کرتے ہیں۔

۲۲۱۵۷ اگر شکل ۸.۱۴ میں مستوی xy میں دکھائے گئے خطہ کی طرح R ہو اور حجم کی "بالائی" حد $y = g_2(x)$ ، "زیریں" حد $y = g_1(x)$ ، اور
۲۲۱۵۸ اطراف کی حدود خط $x = a$ اور خط $x = b$ ہوں تب ہم حجم H کو ٹکیوں کی ترکیب سے حاصل کر سکتے ہیں۔ ہم پہلے رقبہ عمودی تراش تلاش کرتے
۲۲۱۵۹ ہیں

$$S(x) = \int_{y=g_1(x)}^{y=g_2(x)} f(x, y)\,\mathrm{d}y$$

۲۲۱۶۰ اور اس کے بعد $x = a$ سے $x = b$ تک $S(x)$ کا تکمل لیتے ہوئے بار ہا تکمل سے حجم حاصل کرتے ہیں۔

$$H = \int_a^b S(x)\,\mathrm{d}x = \int_a^b \int_{g_1(x)}^{g_2(x)} f(x, y)\,\mathrm{d}y\,\mathrm{d}x \tag{۹}$$

۲۲۱۶۱ اسی طرح اگر شکل ۹.۱۴ میں دکھائے گئے خطہ کی طرح R ہو اور حجم کی حدود $x = h_2(y)$ ، $x = h_1(y)$ اور خط $y = c$ اور $y = d$

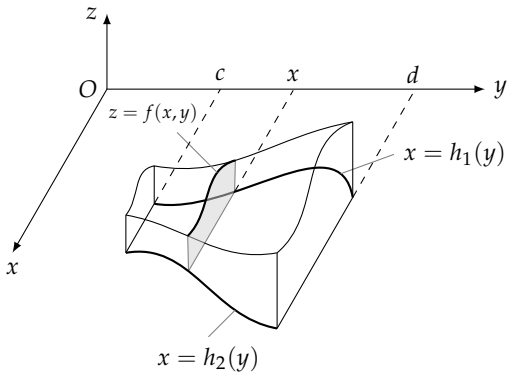

شکل ۹.۱۴: سایہ دار تکیہ کا رقبہ $S(y) = \int_{h_1(y)}^{h_2(y)} f(x,y)\,\mathrm{d}x$ ہے۔
ٹھوس جسم کا حجم $\int_c^d S(y)\,\mathrm{d}y = \int_c^d \int_{h_1(y)}^{h_2(y)} f(x,y)\,\mathrm{d}x\,\mathrm{d}y$ ہوگا۔

۲۲۱۹۲ ہوں تب تکیوں کی ترکیب سے بار ہا تکمل سے حجم تلاش کیا جا سکتا ہے:

$$H = \int_c^d \int_{h_1(y)}^{h_2(y)} f(x,y)\,\mathrm{d}x\,\mathrm{d}y \tag{۱۰}$$

۲۲۱۹۳ ہم نے دیکھا کہ مساوات ۹ اور مساوات ۹، جو R پر f کے دوہرا تکمل ہیں، دونوں حجم دیتے ہیں۔ اس کی وجہ مسئلہ فوبینی کی درج ذیل زیادہ مضبوط صورت ہے۔

۲۲۱۹۴ مسئلہ ۲.۱۴: **مسئلہ فوبینی (مضبوط روپ)**

۲۲۱۹۵ فرض کریں خطہ R پر f استمراری ہے۔

۲۲۱۹۶ ا. اگر R کو $a \le x \le b$ ، $g_1(x) \le y \le g_2(x)$ تعین کرتے ہوں جہاں $[a,b]$ پر g_1 اور g_2 استمراری ہوں تب درج
۲۲۱۹۷ ذیل ہوگا۔

$$\iint\limits_R f(x,y)\,\mathrm{d}S = \int_a^b \int_{g_1(x)}^{g_2(x)} f(x,y)\,\mathrm{d}y\,\mathrm{d}x$$

۲۲۱۹۸ ب. اگر R کو $c \le y \le d$ ، $h_1(y) \le y \le h_2(y)$ تعین کرتے ہوں جہاں $[c,d]$ پر h_1 اور h_2 استمراری ہوں تب درج ذیل
۲۲۱۹۹ ہوگا۔

$$\iint\limits_R f(x,y)\,\mathrm{d}S = \int_c^d \int_{h_1(y)}^{h_2(y)} f(x,y)\,\mathrm{d}x\,\mathrm{d}y$$

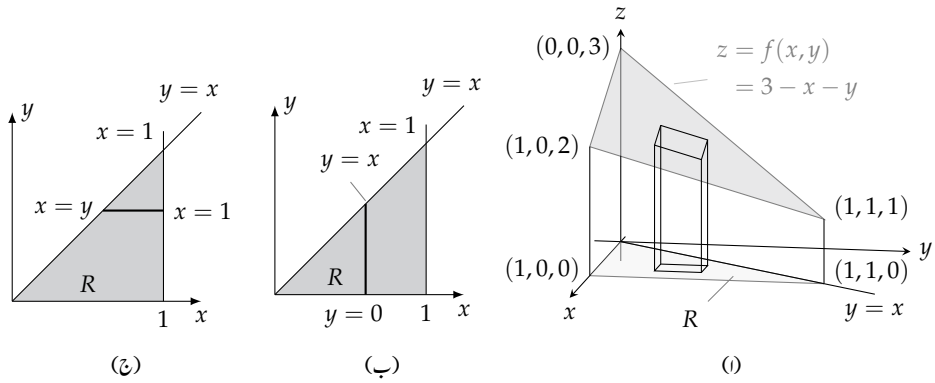

شکل ۱۰.۱۴: منشور کا حجم (مثال ۲.۱۴)

۲۲۱۷۰

۲۲۱۷۱ مثال ۲.۱۴: ایک منشور جس کا قاعدہ مستوی xy میں ایک مثلث ہو، جس کے اضلاع محور x، خط $x = 1$ اور خط $y = x$ ہوں اور جس کا راس
۲۲۱۷۲ درج ذیل مستوی میں پایا جاتا ہو، کا حجم تلاش کریں۔

$$z = f(x, y) = 3 - x - y$$

۲۲۱۷۳ حل: ہم دیکھتے ہیں (شکل ۱۰.۱۴-ا) کہ 0 اور 1 تک کسی بھی x کے لئے y کی قیمت $y = 0$ تا $y = x$ ہو گی (شکل ۱۰.۱۴-ب)۔ یوں
۲۲۱۷۴ درج ذیل ہو گا۔

$$\begin{aligned} H &= \int_0^1 \int_0^x (3 - x - y)\,\mathrm{d}y\,\mathrm{d}x = \int_0^1 \left[3y - xy - \frac{y^2}{2}\right]_{y=0}^{y=x} \mathrm{d}x \\ &= \int_0^1 \left(3x - \frac{3x^2}{2}\right) \mathrm{d}x = \left[\frac{3x^2}{2} - \frac{x^3}{2}\right]_{x=0}^{x=1} = 1 \end{aligned}$$

۲۲۱۷۵ تکملات کی ترتیب الٹ کرنے سے درج ذیل ہو گا (شکل ۱۰.۱۴-ج)۔

$$\begin{aligned} H &= \int_0^1 \int_y^1 (3 - x - y)\,\mathrm{d}x\,\mathrm{d}y = \int_0^1 \left[3x - \frac{x^2}{2} - xy\right]_{x=y}^{x=1} \mathrm{d}y \\ &= \int_0^1 \left(3 - \frac{1}{2} - y - 3y + \frac{y^2}{2} + y^2\right) \mathrm{d}y \\ &= \int_0^1 \left(\frac{5}{4} - 4y + \frac{3}{2}y^2\right) \mathrm{d}y = \left[\frac{5}{2}y - 2y^2 + \frac{y^3}{2}\right]_{y=0}^{y=1} = 1 \end{aligned}$$

۲۲۱۷۶ دونوں تکملات کے جواب ایک سے ہیں۔ ہمیں یہی توقع تھی۔ □

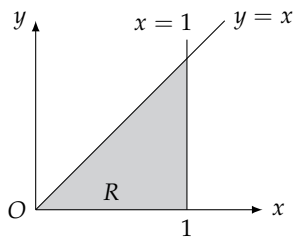

شکل ۱۱.۱۴: تکمل کا دائرہ کار برائے مثال ۳.۱۴

۲۲۱۷۷ اگرچہ مسئلہ فوبینی ہمیں یقین دھیانی کرتا ہے کہ دوہرا تکمل کی قیمت بارہا تکمل میں کسی بھی ترتیب سے تکملات لیتے ہوئے حاصل کیا جا سکتا ہے، حقیقت میں ایک
۲۲۱۷۸ تکمل کا حصول دوسرے سے آسان ہو سکتا ہے۔ اگلی مثال میں آپ ایسی صورت حال دیکھتے ہیں۔

۲۲۱۷۹ مثال ۳.۱۴: مستوی xy میں محور x، خط $x = 1$ اور خط $y = x$ کے بیچ خطہ R ہے۔ درج ذیل کی قیمت تلاش کریں۔

$$\iint\limits_R \frac{\sin x}{x}\,\mathrm{d}S$$

۲۲۱۸۰ حل: تکمل کا خطہ شکل ۱۱.۱۴ میں دکھایا گیا ہے۔ اگر ہم پہلے y اور بعد میں x کے لحاظ سے تکمل لیں تب

$$\begin{aligned}\int_0^1 \left(\int_0^x \frac{\sin x}{x}\,\mathrm{d}y\right)\mathrm{d}x &= \int_0^1 \left(y\frac{\sin x}{x}\Big]_{y=0}^{y=x}\right)\mathrm{d}x = \int_0^1 \sin x\,\mathrm{d}x \\ &= -\cos(1) + 1 \approx 0.46\end{aligned}$$

۲۲۱۸۱ ہو گا۔ اگر ہم تکمل لینے کی ترتیب الٹ کریں تب

$$\int_0^1 \int_y^1 \frac{\sin x}{x}\,\mathrm{d}x\,\mathrm{d}y$$

۲۲۱۸۲ ہو گا اور چونکہ $\int ((\sin x)/x)\,\mathrm{d}x$ کو بنیادی تفاعل کی صورت میں نہیں لکھا جا سکتا ہے لہٰذا ہم اس کو حل کرنے سے قاصر ہیں۔

۲۲۱۸۳ قبل از وقت یہ جاننا ممکن نہیں کہ کس ترتیب سے تکمل لینے سے ہمیں آسانی ہو گی لہٰذا اس پر زیادہ مت سوچیں اور کسی ایک ترتیب سے حل کرنے کی کوشش
۲۲۱۸۴ کریں اور اگر مشکلات پیش آئیں تب تکمل کی ترتیب الٹ کر کے دوبارہ کوشش کریں۔ □

۲۲۱۸۵ تکمل کی حدوں کی تلاش

۲۲۱۸۶ دوہرا تکمل کی قیمت کے حصول میں سب سے مشکل کام تکمل کی حدیں تلاش کرنا ہو سکتا ہے۔ خوش قسمتی سے ایک اچھا طریقہ کار موجود ہے جس پر ہم چل سکتے
۲۲۱۸۷ ہیں۔

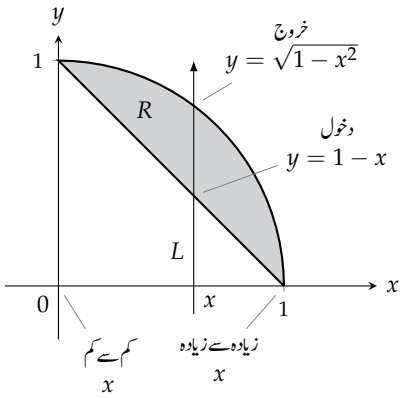

(ب) خطہ R میں جس نقاط پر انتصابی لکیر داخل اور خارج ہوتی ہے، ان کی نشاندہی کریں۔ یہی تکمل کے y حد ہوں گے۔ تمام انتصابی لکیروں کو شامل کرنے والے x حدود کی نشاندہی کریں۔ یہی تکمل کے x حد ہوں گے۔

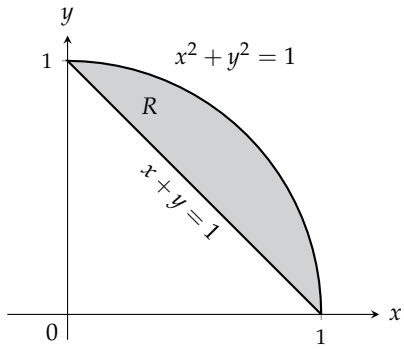

(ا) تکمل کے خطہ کا خاکہ بنائیں اور تحدیدی منحنیات کی نشاندہی کریں۔

شکل ۱۲.۱۴: تکمل کی حدوں کی تلاش۔

تکمل کی حدیں تلاش کرنے کا طریقہ کار

(ا) خطہ R پر $\iint_R f(x,y)\,\mathrm{d}S$ کی قیمت حاصل کرتے ہوئے پہلے y اور بعد میں x کے لحاظ سے تکمل لینے کے لئے درج ذیل اقدام کریں۔

۱. خاکہ: تکمل کے خطہ کا خاکہ بنائیں اور اس کی سرحدی منحنیات پر نام و نشان لگائیں (شکل ۱۲.۱۴-ا)۔

۲. تکمل کی y حدیں: بڑھتی y رخ خطہ R سے گزرتا ہوا انتصابی خط L کھینچیں۔ جن مقامات پر L اس خطہ میں داخل اور اس سے خارج ہوتا ہے، یہ تکمل کی y حدیں ہوں گی (شکل ۱۲.۱۴-ب)۔

۳. تکمل کی x حدیں: متغیر x کی وہ قیمتیں منتخب کریں جن میں R سے گزرتی ہوئی تمام انتصابی لکیریں شامل ہوں (شکل ۱۲.۱۴-ب)۔ یہ قیمتیں تکمل کی x حدیں ہوں گی۔

تکمل درج ذیل ہو گا۔

$$\iint\limits_R f(x,y)\,\mathrm{d}S = \int_{x=0}^{x=1} \int_{y=1-x}^{y=\sqrt{1-x^2}} f(x,y)\,\mathrm{d}y\,\mathrm{d}x$$

(ب) اسی دوہرا تکمل کو بطور بار ہا تکمل حل کرتے ہوئے، ترتیب الٹ کرنے سے، انتصابی لکیروں کے بجائے افقی لکیریں استعمال کریں (شکل ۱۳.۱۴)۔ تکمل

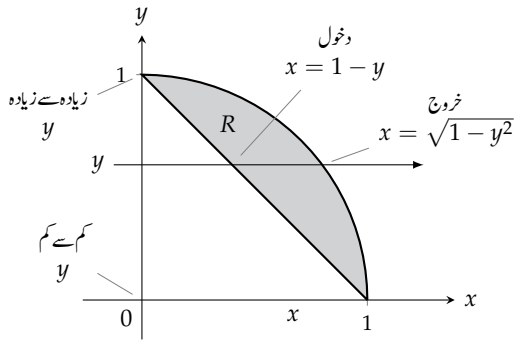

شکل ۱۳.۱۴: بارہا تکمل میں ترتیب الٹ کرنے سے R پر افقی لکیریں کھینچی جائیں گی۔

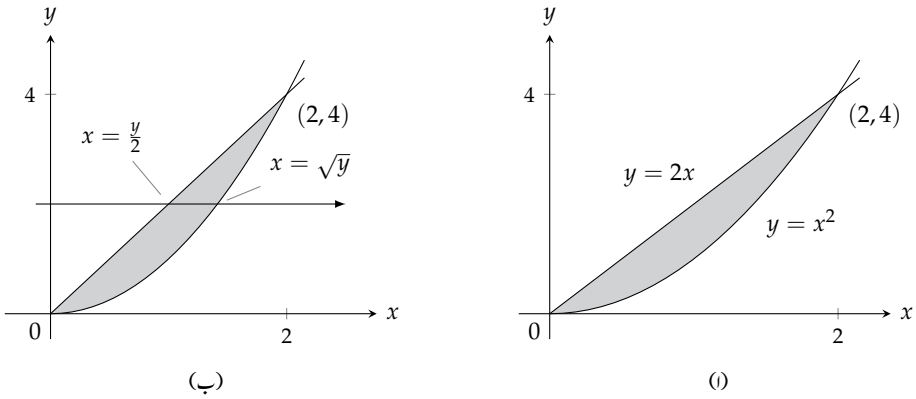

شکل ۱۴.۱۴: دو منحنیات کے بیچ خطہ (مثال ۴.۱۴)

۲۲۱۹۷ درج ذیل ہوگا۔

$$\iint\limits_R f(x,y)\,\mathrm{d}S = \int_0^1 \int_{1-y}^{\sqrt{1-y^2}} f(x,y)\,\mathrm{d}x\,\mathrm{d}y$$

۲۲۱۹۸ مثال ۴.۱۴: درج ذیل تکمل کے خطہ تکمل کا خاکہ بنائیں اور تکمل کی ترتیب الٹ کرتے ہوئے اس کا مساوی تکمل لکھیں۔

$$\int_0^2 \int_{x^2}^{2x} (4x+2)\,\mathrm{d}y\,\mathrm{d}x$$

۲۲۱۹۹ حل: تکمل کا خطہ، عدم مساوات $x^2 \le y \le 2x$ اور $0 \le x \le 2$ دیتے ہیں۔ یوں اس خطہ کی حدیں، خط $x = 0$، خط $x = 2$ اور

منحنیات $y = x^2$ اور $y = 2x$ ہوں گی (شکل ۱۴.۱۴-ا)۔

تکمل کی ترتیب الٹ کرتے ہوئے ہم اس خطہ پر افقی لکیریں کھینچتے ہیں۔ یہ لکیریں اس خطہ میں $x = \frac{y}{2}$ پر داخلی ہوتی ہیں اور $x = \sqrt{y}$ پر اس سے خارج ہوتی ہیں۔ ان تمام افقی لکیریں کو شامل کرنے کے لئے ہمیں $y = 0$ سے $y = 4$ تک لینا ہوگا (شکل ۱۴.۱۴-ب)۔ یوں متبادل تکمل درج ذیل ہوگا۔

$$\int_0^4 \int_{y/2}^{\sqrt{y}} (4x+2)\,\mathrm{d}x\,\mathrm{d}y$$

ان دونوں تکملات کے جواب 8 ہے۔ □

سوالات

تکمل کے خطہ کی تلاش اور دوہرا تکملات

سوال ۱۴.۱ تا سوال ۱۴.۱۰ میں تکمل کے خطے کا خاکہ بنائیں اور تکمل کی قیمت تلاش کریں۔

سوال ۱۴.۱: $\int_0^3 \int_0^2 (4-y^2)\,\mathrm{d}y\,\mathrm{d}x$

سوال ۱۴.۲: $\int_0^3 \int_{-2}^0 (x^2y-2xy)\,\mathrm{d}y\,\mathrm{d}x$

سوال ۱۴.۳: $\int_{-1}^0 \int_{-1}^1 (x+y+1)\,\mathrm{d}x\,\mathrm{d}y$

سوال ۱۴.۴: $\int_\pi^{2\pi} \int_0^\pi (\sin x+\cos y)\,\mathrm{d}x\,\mathrm{d}y$

سوال ۱۴.۵: $\int_0^\pi \int_0^x x\sin y\,\mathrm{d}y\,\mathrm{d}x$

سوال ۱۴.۶: $\int_0^\pi \int_0^{\sin x} y\,\mathrm{d}y\,\mathrm{d}x$

سوال ۱۴.۷: $\int_1^{\ln 8} \int_0^{\ln y} e^{x+y}\,\mathrm{d}x\,\mathrm{d}y$

سوال ۱۴.۸: $\int_1^2 \int_y^{y^2} \mathrm{d}x\,\mathrm{d}y$

سوال ۱۴.۹: $\int_0^1 \int_0^{y^2} 3y^3e^{xy}\,\mathrm{d}x\,\mathrm{d}y$

سوال ۱۴.۱۰: $\int_1^4 \int_0^{\sqrt{x}} \frac{3}{2}e^{y/\sqrt{x}}\,\mathrm{d}y\,\mathrm{d}x$

سوال ۱۴.۱۱ تا سوال ۱۴.۱۶ میں f کو دیے ہوئے خطہ پر تکمل کریں۔

سوال ۱۴.۱۱: ربع اول میں لکیر $y = x$ ، $y = 2x$ ، $x = 1$ اور $x = 2$ کے بیچ خطہ پر تفاعل $f(x,y) = \frac{x}{y}$ کا تکمل۔

سوال ۱۴.۱۲: چوکور $1 \le x \le 2,\ 1 \le y \le 2$ پر تفاعل $f(x,y) = \frac{1}{xy}$ کا تکمل۔

سوال ۱۴.۱۳: مثلث خطہ جس کے راس $(0,0)$ ، $(1,0)$ اور $(0,1)$ ہیں میں تفاعل $f(x,y) = x^2 + y^2$ کا تکمل۔

سوال ۱۴.۱۴: مستطیل $0 \le x \le \pi,\ 0 \le y \le 1$ پر تفاعل $f(x,y) = y \cos xy$ کا تکمل۔

سوال ۱۴.۱۵: مستوی uv کے ربع اول میں لکیر $u + v = 1$ کے نیچے تفاعل $f(u,v) = v - \sqrt{u}$ کا تکمل۔

سوال ۱۴.۱۶: مستوی st کے ربع اول میں منحنی $s = \ln t$ کے اوپر جانب $t = 1$ سے $t = 2$ تک تفاعل $f(s,t) = e^s \ln t$ کا تکمل۔

سوال ۱۴.۱۷ تا سوال ۱۴.۲۰ میں تکملات دیے گئے ہیں۔ ان تکملات کے خطوں کا خاکہ بنائیں اور تکمل کی قیمت حاصل کریں۔

سوال ۱۴.۱۷: $\int_{-2}^{0} \int_{v}^{-v} 2 \, \mathrm{d}p \, \mathrm{d}v$ مستوی pv

سوال ۱۴.۱۸: $\int_{0}^{1} \int_{0}^{\sqrt{1-s^2}} 8t \, \mathrm{d}t \, \mathrm{d}s$ مستوی st

سوال ۱۴.۱۹: $\int_{-\pi/3}^{\pi/3} \int_{0}^{\sec t} 3 \cos t \, \mathrm{d}u \, \mathrm{d}t$ مستوی tu

سوال ۱۴.۲۰: $\int_{0}^{3} \int_{-2}^{4-2u} \frac{4-2u}{v^2} \, \mathrm{d}v \, \mathrm{d}u$ مستوی uv

تکمل کی الٹ ترتیب

سوال ۱۴.۲۱ تا سوال ۱۴.۳۰ میں تکمل کے خطہ کا خاکہ بنا کر معادل الٹ ترتیب کا تکمل لکھیں۔

سوال ۱۴.۲۱: $\int_{0}^{1} \int_{2}^{4-2x} \mathrm{d}y \, \mathrm{d}x$

سوال ۱۴.۲۲: $\int_{0}^{2} \int_{y-2}^{0} \mathrm{d}x \, \mathrm{d}y$

سوال ۱۴.۲۳: $\int_{0}^{1} \int_{y}^{\sqrt{y}} \mathrm{d}x \, \mathrm{d}y$

سوال ۱۴.۲۴: $\int_{0}^{1} \int_{1-x}^{1-x^2} \mathrm{d}y \, \mathrm{d}x$

سوال ۱۴.۲۵: $\int_{0}^{1} \int_{1}^{e^x} \mathrm{d}y \, \mathrm{d}x$

سوال ۱۴.۲۶: $\int_{0}^{\ln 2} \int_{e^y}^{2} \mathrm{d}x \, \mathrm{d}y$

سوال ۱۴.۲۷: $\int_{0}^{3/2} \int_{0}^{9-4x^2} 16x \, \mathrm{d}y \, \mathrm{d}x$

سوال ۱۴.۲۸: $\int_{0}^{2} \int_{0}^{4-y^2} y \, \mathrm{d}x \, \mathrm{d}y$

سوال ۱۴.۲۹: $\int_{0}^{1} \int_{-\sqrt{1-y^2}}^{\sqrt{1-y^2}} 3y \, \mathrm{d}x \, \mathrm{d}y$

سوال ۱۴.۳۰: $\int_{0}^{2} \int_{-\sqrt{4-x^2}}^{\sqrt{4-x^2}} 6x \, \mathrm{d}y \, \mathrm{d}x$

دوہرا تکمل کی قیمت کا حصول

سوال ۱۴.۳۱ تا سوال ۱۴.۴۰ میں تکمل کے خطہ کا خاکہ بنا کر تکمل کی ترتیب تعین کرتے ہوئے تکمل کی قیمت تلاش کریں۔

سوال ۱۴.۳۱: $\int_0^{\pi} \int_x^{\pi} \frac{\sin y}{y} \, \mathrm{d}y \, \mathrm{d}x$

سوال ۱۴.۳۲: $\int_0^2 \int_x^2 2y^2 \sin xy \, \mathrm{d}y \, \mathrm{d}x$

سوال ۱۴.۳۳: $\int_0^1 \int_y^1 x^2 e^{xy} \, \mathrm{d}x \, \mathrm{d}y$

سوال ۱۴.۳۴: $\int_0^2 \int_0^{4-x^2} \frac{xe^{2y}}{4-y} \, \mathrm{d}y \, \mathrm{d}x$

سوال ۱۴.۳۵: $\int_0^{2\sqrt{\ln 3}} \int_{y/2}^{\sqrt{\ln 3}} e^{x^2} \, \mathrm{d}x \, \mathrm{d}y$

سوال ۱۴.۳۶: $\int_0^3 \int_{\sqrt{x/3}}^1 e^{y^3} \, \mathrm{d}y \, \mathrm{d}x$

سوال ۱۴.۳۷: $\int_0^{1/16} \int_{y^{1/4}}^{1/2} \cos(16\pi x^5) \, \mathrm{d}x \, \mathrm{d}y$

سوال ۱۴.۳۸: $\int_0^8 \int_{\sqrt[3]{x}}^2 \frac{\mathrm{d}y \, \mathrm{d}x}{y^4+1}$

سوال ۱۴.۳۹: $\iint\limits_R (y - 2x^2) \, \mathrm{d}S$ جہاں R چوکور $|x| + |y| = 1$ کا اندرونی خطہ ہے۔

سوال ۱۴.۴۰: $\iint\limits_R xy \, \mathrm{d}S$ جہاں لکیر $y = x$ ، $y = 2x$ اور $x + y = 2$ کے بیچ خطہ R ہے۔

سطح $z = f(x, y)$ کے نیچے حجم

سوال ۱۴.۴۱: مستوی xy میں لکیر $y = x$ ، $x = 0$ اور $x + y = 2$ کے بیچ مثلث کے اور قطع مکافی سطح $z = x^2 + y^2$ کے نیچے خطہ کا حجم تلاش کریں۔

سوال ۱۴.۴۲: ایک ٹھوس جسم اوپر سے بیلن $z = x^2$ اور نیچے سے مستوی xy میں لکیر $y = x$ اور قطع مکافی $y = 2 - x^2$ کے بیچ مثلث خطہ کے درمیان پایا جاتا ہے۔ اس جسم کا حجم تلاش کریں۔

سوال ۱۴.۴۳: ایک ٹھوس جسم کا قاعدہ مستوی xy میں لکیر $y = 3x$ اور قطع مکافی $y = 4 - x^2$ کے بیچ خطہ ہے جبکہ اس کا بالائی سر مستوی $z = x + 4$ پر مشتمل ہے۔ اس جسم کا حجم تلاش کریں۔

سوال ۱۴.۴۴: ثُمن اول میں محددی مستویات، بیلن $x^2 + y^2 = 4$ اور مستوی $z + y = 3$ کے بیچ ٹھوس جسم کا حجم تلاش کریں۔

سوال ۱۴.۴۵: ثُمن اول میں محددی مستویات، مستوی $x = 3$ اور قطع مکافی بیلن $z = 4 - y^2$ کے بیچ ٹھوس جسم کا حجم تلاش کریں۔

سوال ۱۴.۴۶: ثُمن اول سے سطح $z = 4 - x^2 - y$ ایک ٹھوس جسم کاٹتی ہے۔ اس جسم کا حجم تلاش کریں۔

سوال ۱۴.۴۷: ثُمن اول سے بیلن $z = 12 - 3y^2$ اور مستوی $x + y = 2$ ایک پچر کاٹتے ہیں۔ اس پچر کا حجم تلاش کریں۔

سوال ۱۴.۴۸: چوکور ستون $|x| + |y| \leq 1$ سے مستویات $z = 0$ اور $3x + z = 3$ جس ٹھوس جسم کو کاٹتے ہیں اس کا حجم تلاش کریں۔

سوال ۱۴.۴۹: ایک ٹھوس جسم سامنے اور پشت سے مستویات $x = 2$ اور $x = 1$، اطراف سے بیلن $y = \mp\frac{1}{x}$، اوپر سے مستوی $z = x + 1$ اور نیچے سے مستوی $z = 0$ میں گھیرا ہوا ہے۔ اس جسم کا حجم تلاش کریں۔

سوال ۱۴.۵۰: ایک جسم سامنے اور پشت سے مستویات $x = \pm\frac{\pi}{3}$، اطراف سے بیلن $y = \mp\sec x$، اوپر سے بیلن $z = 1 + y^2$ اور نیچے سے مستوی xy میں گھیرا ہوا ہے۔ اس جسم کا حجم تلاش کریں۔

غیر محدود خطوں پر تکملات

سوال ۱۴.۵۱ تا سوال ۱۴.۵۴ میں غیر مناسب تکملات کو بارہا تکمل تصور کرتے ہوئے ان کی قیمت تلاش کریں۔

سوال ۱۴.۵۱: $\int_1^\infty \int_{e^{-x}}^1 \frac{1}{x^3 y}\,\mathrm{d}y\,\mathrm{d}x$

سوال ۱۴.۵۲: $\int_{-1}^1 \int_{-1/\sqrt{1-x^2}}^{1/\sqrt{1-x^2}} (2y+1)\,\mathrm{d}y\,\mathrm{d}x$

سوال ۱۴.۵۳: $\int_{-\infty}^\infty \int_{-\infty}^\infty \frac{1}{(x^2+1)(y^2+1)}\,\mathrm{d}x\,\mathrm{d}y$

سوال ۱۴.۵۴: $\int_0^\infty \int_0^\infty xe^{-(x+2y)}\,\mathrm{d}x\,\mathrm{d}y$

دوہرا تکملات کی تخمین

سوال ۱۴.۵۵ اور سوال ۱۴.۵۶ میں تفاعل $f(x,y)$ کے دوہرا تکمل کے خطہ R کو انتصابی خط $x = a$ اور افقی خط $y = c$ خانہ بند کرتی ہیں۔ ہر ذیلی مستطیل میں دکھائے گئے (x_k, y_k) لیتے ہوئے درج ذیل تخمین استعمال کر کے دوہرا تکملات کی تخمینی قیمتیں تلاش کریں۔

$$\iint\limits_R f(x,y)\,\mathrm{d}S \approx \sum_{k=1}^n f(x_k, y_k)\Delta S_k$$

سوال ۱۴.۵۵: تفاعل $f(x,y) = x + y$ اور خطہ R، جو نصف دائرہ $y = \sqrt{1-x^2}$ اور محور x کے بیچ ہے۔ خانہ بندی $x = -1, -1/2, 0, 1/4, 1/2, 1$ اور $y = 0, 1/2, 1$ لیں۔ نقطہ (x_k, y_k) کو k واں خانے کا نچلا بایاں کونا لیں بشرطیکہ یہ مستطیل R کے اندر پایا جاتا ہو۔

سوال ۱۴.۵۶: تفاعل $f(x,y) = x + 2y$ ہے جبکہ اور دائرہ $(x-2)^2 + (y-3)^2 = 1$ کا اندرونی خطہ R ہے۔ خانہ بندی $x = 1, 3/2, 2, 5/2, 3$ اور $y = 2, 5/2, 3, 7/2, 4$ لیں۔ بشرطیکہ k واں مستطیل R میں پایا جاتا ہو، k ویں مستطیل کے وسطانی مرکز کو (x_k, y_k) لیں۔

نظریہ اور مثالیں

سوال ۱۴.۵۷: قرص $x^2 + y^2 \leq 4$ کو شعاع $\theta = \frac{\pi}{6}$ اور $\theta = \frac{\pi}{2}$ دو ٹکڑوں میں تقسیم کرتے ہیں۔ان میں سے چھوٹے ٹکڑے پر $f(x, y) = \sqrt{4 - x^2}$ کا تکمل لیں۔

سوال ۱۴.۵۸: لامتناہی مستطیل $0 \leq y \leq 2$ ، $2 \leq x \leq \infty$ پر $f(x, y) = \frac{1}{(x^2-x)(y-1)^{2/3}}$ کا تکمل لیں۔

سوال ۱۴.۵۹: ایک ٹھوس (غیر دائری) قائمہ بیلن کا قاعدہ xy مستوی ہے جبکہ اس کی بالائی سرحد قطع مکافی سطح $z = x^2 + y^2$ ہے۔اس بیلن کا حجم

$$H = \int_0^1 \int_0^y (x^2 + y^2)\,\mathrm{d}x\,\mathrm{d}y + \int_1^2 \int_0^{2-y} (x^2 + y^2)\,\mathrm{d}x\,\mathrm{d}y$$

ہے۔خطہ R کا خاکہ بنائیں اور بیلن کے حجم کو، تکمل کی ترتیب الٹ کرتے ہوئے، ایک بار ہا تکمل کی صورت میں لکھ کر حل کریں۔

سوال ۱۴.۶۰: درج ذیل کی قیمت تلاش کریں۔(اشارہ: متکمل کو ایک تکمل کی صورت میں لکھیں۔)

$$\int_0^2 (\tan^{-1} \pi x - \tan^{-1} x)\,\mathrm{d}x$$

سوال ۱۴.۶۱: مستوی xy میں کونسا خطہ R درج ذیل تکمل کی قیمت کو زیادہ سے زیادہ بناتا ہے؟

$$\iint_R (4 - x^2 - 2y^2)\,\mathrm{d}S$$

اپنے جواب کی وجہ پیش کریں۔

سوال ۱۴.۶۲: مستوی xy میں کونسا خطہ R درج ذیل تکمل کی قیمت کو کم سے کم بناتا ہے؟

$$\iint_R (x^2 + y^2 - 9)\,\mathrm{d}S$$

اپنے جواب کی وجہ پیش کریں۔

سوال ۱۴.۶۳: کیا استراری تفاعل $f(x, y)$ کا مستوی xy میں مستطیل خطہ پر تکمل کی ترتیب بدلتے ہوئے مختلف نتائج کا حصول ٹھیک ہوگا؟اپنے جواب کی وجہ بتائیں۔

سوال ۱۴.۶۴: ایک مثلث جس کے راس $(0, 1)$ ، $(2, 0)$ اور $(1, 2)$ ہوں پر استراری تفاعل $f(x, y)$ کے دوہرا تکمل کی قیمت درکار ہے۔آپ یہ قیمت کیسے حاصل کریں گے؟اپنے جواب کی وجہ پیش کریں۔

سوال ۱۴.۶۵: درج ذیل تعلق کو ثابت کریں۔

$$\int_{-\infty}^{\infty}\int_{-\infty}^{\infty} e^{-x^2-y^2}\,\mathrm{d}x\,\mathrm{d}y = \lim_{b\to\infty}\int_{-b}^{b}\int_{-b}^{b} e^{-x^2-y^2}\,\mathrm{d}x\,\mathrm{d}y = 4\left(\int_0^{\infty} e^{-x^2}\,\mathrm{d}x\right)^2$$

سوال ۱۴.۶۶: درج ذیل غیر مناسب تکمل کی قیمت تلاش کریں۔

$$\int_0^1\int_0^3 \frac{x^2}{(y-1)^{2/3}}\,\mathrm{d}y\,\mathrm{d}x$$

اعدادی تراکیب سے تکمل کی قیمت کی تلاش

سوال ۱۴.۶۷ تا سوال ۱۴.۷۰ میں کمپیوٹر استعمال کرتے ہوئے اعدادی تراکیب سے دوہرا تکملات کی قیمتیں دریافت کریں۔

سوال ۱۴.۶۷: $\int_1^3\int_1^x \frac{1}{xy}\,\mathrm{d}y\,\mathrm{d}x$

سوال ۱۴.۶۸: $\int_0^1\int_0^1 e^{-x^2-y^2}\,\mathrm{d}y\,\mathrm{d}x$

سوال ۱۴.۶۹: $\int_0^1\int_0^1 \tan^{-1} xy\,\mathrm{d}y\,\mathrm{d}x$

سوال ۱۴.۷۰: $\int_{-1}^1\int_0^{\sqrt{1-x^2}} 3\sqrt{1-x^2-y^2}\,\mathrm{d}y\,\mathrm{d}x$

۱۴.۲ رقبات، معیار اثر، اور مراکز کمیت

اس حصہ میں دوہرا تکملات استعمال کرتے ہوئے مستوی میں محدود خطوں کے رقبات اور ان خطوں پر باریک چادروں کی کمیت، معیار اثر، مرکز کمیت، اور حرکت دواری[5] کے رداس معلوم کرنا دکھایا جائے گا۔ ان کا حساب باب ۶ کے حساب کی طرح ہو گا لیکن اب ہم زیادہ قسم کے اشکال کے لئے حساب کر پائیں گے۔

مستوی میں محدود خطوں کے رقبات

گزشتہ حصہ میں خطہ R پر دوہرا تکمل کی تعریف میں $f(x,y)=1$ لینے سے جزوی مجموعات کی تخفیف شدہ صورت

$$J_n = \sum_{k=1}^{n} f(x_k,y_k)\Delta S_k = \sum_{k=1}^{n}\Delta S_k \tag{1}$$

[5] gyration

حاصل ہو گی۔ یہ تخمینی طور پر R کا رقبہ ہو گا۔ جوں جوں شکل ۱۴.۱۵ میں Δx اور Δy صفر کے قریب تر ہوتے جاتے ہیں توں توں R کے زیادہ سے زیادہ حصہ کو تمام ΔS_k مل کر کو ڈھانپتے ہیں، اور ہم R کی رقبہ کی تعریف درج ذیل لیتے ہیں۔

$$\text{رقبہ} = \lim_{n\to\infty} \sum_{k=1}^{n} \Delta S_k = \iint\limits_R \mathrm{d}S \tag{۲}$$

تعریف: بند محدود خطہ R کا رقبہ درج ذیل ہو گا۔

$$S = \iint\limits_R \mathrm{d}S \tag{۳}$$

□

اس باب کے دیگر تعریفات کی طرح، رقبے کی یک متغیری تعریف کے لحاظ سے، جو ہم پہلے پیش کر چکے ہیں، موجودہ تعریف زیادہ اقسام کے خطوں پر قابل اطلاق ہو گی، لیکن، جن خطوں پر دونوں تعریفات قابل اطلاق ہوں، وہاں موجودہ تعریف گزشتہ تعریف کے عین موافق ہو گی۔

مساوات ۳ میں دی گئی تکمل کی قیمت کے حصول میں ہم R پر $f(x,y) = 1$ لیتے ہیں۔

مثال ۱۴.۵: ربع اول میں $y = x$ اور $y = x^2$ کے بیچ محیط رقبہ تلاش کریں۔

حل: ہم اس خطہ کا خاکہ (شکل ۱۴.۱۶) بنا کر رقبہ تلاش کرتے ہیں۔

$$S = \int_0^1 \int_{x^2}^{x} \mathrm{d}y\,\mathrm{d}x = \int_0^1 \Big[y\Big]_{x^2}^{x} \mathrm{d}x = \int_0^1 (x - x^2)\,\mathrm{d}x = \left[\frac{x^2}{2} - \frac{x^3}{3}\right]_0^1 = \frac{1}{6}$$

□

مثال ۱۴.۶: قطع مکافی $y = x^2$ اور لکیر $y = x + 2$ کے بیچ محیط رقبہ تلاش کریں۔

حل: اگر ہم پہلے x کے لحاظ سے تکمل لیں تب ہمیں اس خطہ کو R_1 اور R_2 میں تقسیم کر کے درج ذیل دو علیحدہ علیحدہ تکملات کی ضرورت پیش آئے گی (شکل ۱۴.۱۷-ا)۔

$$S = \iint\limits_{R_1} \mathrm{d}S + \iint\limits_{R_2} \mathrm{d}S = \int_0^1 \int_{-\sqrt{y}}^{\sqrt{y}} \mathrm{d}x\,\mathrm{d}y + \int_1^4 \int_{y-2}^{\sqrt{y}} \mathrm{d}x\,\mathrm{d}y$$

اس کے برعکس تکمل کی ترتیب الٹ کرنے سے صرف ایک تکمل

$$S = \int_{-1}^{2} \int_{x^2}^{x+2} \mathrm{d}y\,\mathrm{d}x$$

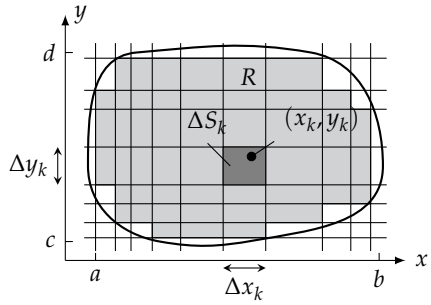

شکل ۱۴.۱۵: ایک خطہ کے رقبے کی تلاش میں پہلا قدم خطے کے اندرون کی خانہ بندی ہے۔

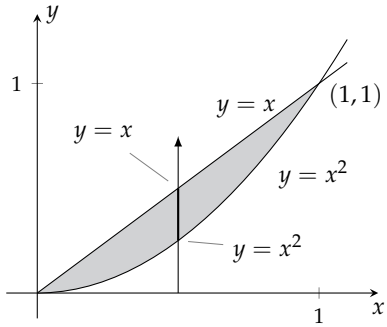

شکل ۱۴.۱۶: قطع مکافی اور لکیر کے بیچ رقبہ (مثال ۱۴.۵)۔

۲۲۳۳۸ کی ضرورت پیش آئے گی (شکل ۱۴.۱۷-ب)۔ ہم اسی سے رقبہ تلاش کرتے ہیں۔

$$S = \int_{-1}^{2} \Big[y\Big]_{x^2}^{x+2} \mathrm{d}x = \int_{-1}^{2} (x + 2 - x^2)\, \mathrm{d}x = \Big[\frac{x^2}{2} + 2x - \frac{x^3}{3}\Big]_{-1}^{2} = \frac{9}{2}$$

۲۲۳۳۹ □

۲۲۳۴۰ **اوسط قیمت**

۲۲۳۴۱ بند وقفہ پر قابل تکمل واحد متغیر تفاعل کی اوسط قیمت اس وقفہ پر تفاعل کا تکمل تقسیم لمبائی وقفہ ہو گی۔ بند اور محدود خطہ پر، جس کا رقبہ قابل ناپ ہو، معین قابل
۲۲۳۴۲ تکمل دو متغیر تفاعل کی اوسط قیمت اس خطہ پر تفاعل کا تکمل تقسیم خطہ کا رقبہ ہو گی۔ اگر خطہ R اور تفاعل f ہوں تب درج ذیل ہو گا۔

$$\text{اوسط قیمت } f \text{ کی } R \text{ پر} = \frac{1}{R \text{ کا رقبہ}} \iint\limits_R f\, \mathrm{d}S \tag{۴}$$

۲۲۳۴۳ اگر خطہ R پر باریک (پتلی) چادر کی کثافت رقبہ f ہو تب R پر f کے دوہرا تکمل کو R کے رقبہ سے تقسیم کرنے سے اس چادر کی اوسط کثافت حاصل
۲۲۳۴۴ ہو گی جس کی اکائی کمیت فی اکائی رقبہ ہو گی۔ اگر نقطہ (x, y) سے مقررہ نقطہ N تک فاصلہ $f(x, y)$ ہو تب R پر f کی اوسط قیمت، N سے R
۲۲۳۴۵ کے نقاط کا اوسط فاصلہ ہو گا۔

۲۲۳۴۶ مثال ۱۴.۷: مستطیل $R:\ 0 \le x \le \pi,\ 0 \le y \le 1$ پر $f(x, y) = x \cos xy$ کی اوسط قیمت تلاش کریں۔

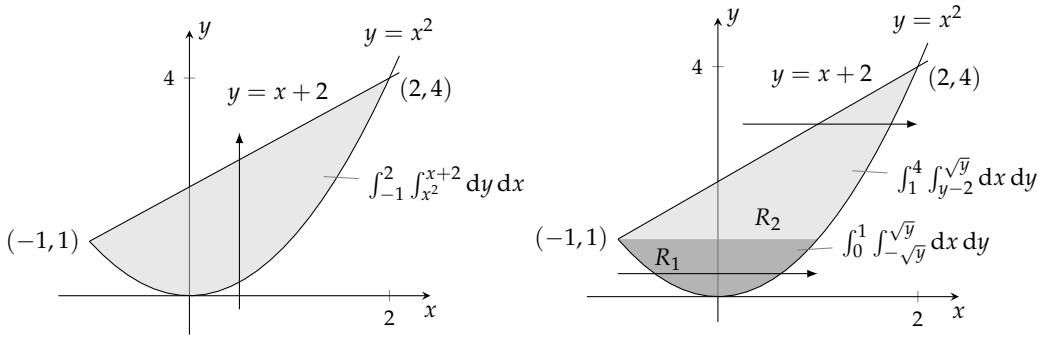

(ب) (ا)

شکل ۱۷.۱۴: (ا) اگر ہم پہلے x کے لحاظ سے تکمل لیں تب رقبے کے حصول کے لئے دو تکملات کا مجموعہ درکار ہو گا۔ (ب) البتہ پہلے y کے لحاظ سے تکمل لیتے ہوئے صرف ایک تکمل سے حاصل ہو گا۔

۲۲۳۷ حل: خطہ R پر f کا تکمل

$$\int_0^{\pi} \int_0^1 x \cos xy \, \mathrm{d}x \, \mathrm{d}y = \int_0^{\pi} \Big[\sin xy \Big]_{y=0}^{y=1} \mathrm{d}x$$
$$= \int_0^{\pi} (\sin x - 0) \, \mathrm{d}x = -\cos x \Big]_0^{\pi} 1 + 1 = 2$$

۲۲۳۸ ہو گا جبکہ مستطیل R کا رقبہ π ہے۔ یوں R پر f کی اوسط قیمت $\frac{2}{\pi}$ ہو گی۔ □

۲۲۳۹ مراکز کمیت کے معیار اثر اول اور دوم

۲۲۳۵۰ باریک چادروں کی کمیت اور معیار اثر تلاش کرنے کے لئے ہم باب ۶ کے کلیات کی طرح کلیات استعمال کرتے ہیں۔ فرق صرف اتنا ہے کہ دوہرا تکمل کی وجہ سے
۲۲۳۵۱ اب ہم زیادہ اشکال اور کثافتی تفاعل کو عمل میں لا سکتے ہیں۔ جدول میں ان کلیات درج ذیل ہیں۔

۲۲۳۵۲ **مستوی xy میں باریک چادر کی کمیت، معیار اثر اول[۶]، معیار اثر دوم[۷] اور رداس دوار[۸] کے کلیات**
۲۲۳۵۳

۲۲۳۵۴ کثافت: $\delta(x, y)$

۲۲۳۵۵ کمیت: $M = \iint \delta(x, y) \, \mathrm{d}S$

---

[۶] firstmoment
[۷] secondmoment
[۸] radiusofgyration

۲۲۳۵۶ معیار اثر اول: $M_x = \iint y\delta(x,y)\,\mathrm{d}S, \quad M_y = \iint x\delta(x,y)\,\mathrm{d}S$

۲۲۳۵۷ مرکز کمیت: $\bar{x} = \frac{M_y}{M}, \quad \bar{y} = \frac{M_x}{M}$

۲۲۳۵۸ معیار اثر دوم (جمودی معیار اثر):

$$I_x = \iint y^2\delta(x,y)\,\mathrm{d}S \qquad \text{بلحاظ محور } x$$

$$I_y = \int x^2\delta(x,y)\,\mathrm{d}S \qquad \text{بلحاظ محور } y$$

$$I_L = \iint r^2(x,y)\delta(x,y)\,\mathrm{d}S, \quad (\text{جہاں } L \text{ سے } (x,y) \text{ کا فاصلہ } r(x,y) \text{ ہے}) \qquad \text{بلحاظ خط } L$$

$$I_0 = \int (x^2+y^2)\delta(x,y)\,\mathrm{d}S = I_x + I_y \qquad \text{(قطبی معیار اثر) بلحاظ مبدا}$$

۲۲۳۵۹ رداس دوار:

$$R_x = \sqrt{\frac{I_x}{M}} \qquad \text{بلحاظ محور } x$$

$$R_y = \sqrt{\frac{I_y}{M}} \qquad \text{بلحاظ محور } y$$

$$R_0 = \sqrt{\frac{I_0}{M}} \qquad \text{بلحاظ مبدا}$$

۲۲۳۶۰ ان کلیات کا استعمال مثالوں کی مدد سے سمجھایا جائے گا۔

۲۲۳۶۱ معیار اثر اول M_x اور M_y اور معیار اثر دوم (جمودی معیار اثر) I_x اور I_y میں ریاضیاتی فرق یہ ہے کہ معیار اثر دور ''بیرم کے بازوؤں'' کے فاصلوں،
۲۲۳۶۲ x اور y، کا مربع لیتا ہے۔

۲۲۳۶۳ معیار اثر I_0 کو **قطبی معیار اثر**[9] بھی کہتے ہیں۔ کمیتی کثافت $\delta(x,y)$ (کمیت فی اکائی رقبہ) ضرب x^2+y^2، جو نمائندہ نقطہ (x,y) سے مبدا
۲۲۳۶۴ تک فاصلہ ہے، کا تکمل قطبی معیار اثر کہلاتا ہے۔ چونکہ $I_0 = I_x + I_y$ ہے لہٰذا ان میں سے کسی دو کے حصول کے بعد تیسرے کو اس تعلق سے اخذ کیا
۲۲۳۶۵ جا سکتا ہے۔ (معیار اثر I_0 بعض اوقات I_z لکھا جاتا اور بلحاظ محور z معیار اثر کہلاتا ہے۔ تب تماثل $I_z = I_x + I_y$ **مسئلہ عمودی محور**[10] کہلاتا
۲۲۳۶۶ ہے۔)

۲۲۳۶۷ **رداس دوار** R_x کی تعریف درج ذیل مساوات ہے۔

$$I_x = MR_x^2$$

---

[9] polarmoment
[10] PerpendicularAxisTheorem

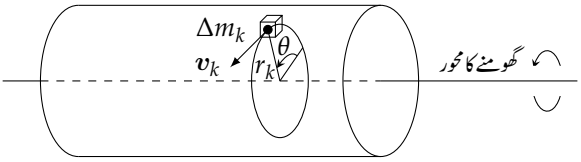

شکل ۱۸.۱۴: گھومتے ہوئے دھرے میں ذخیرہ توانائی دریافت کرنے کی خاطر ہم اس کو متعدد چھوٹے کمیتوں میں تقسیم کر کے ہر تمام چھوٹے کمیتوں کی حرکی توانائی کا مجموعہ لیتے ہیں۔

۲۲۳۶۸ رداس دوار ہمیں بتاتا ہے کہ محور x کتنا دور پوری چادر کی کمیت منجمد کرتے ہوئے وہی I_x حاصل ہو گا۔ رداس دوار استعمال کرتے ہوئے ہم معیار اثر کو کمیت
۲۲۳۶۹ اور لمبائی کی صورت میں لکھ پاتے ہیں۔ رداس R_y اور R_0 کی تعریفات بھی اسی طرح ہیں:

$$I_y = MR_y^2, \quad I_0 = MR_0^2$$

۲۲۳۷۰ ہم ان تعریفی مساوات کے جذر سے R_x ، R_y اور R_0 کے کلیات لکھتے ہیں۔

۲۲۳۷۱ ہمیں معیار اثر میں کیا دلچسپی ہے؟ ایک جسم کا پہلا معیار اثر ہمیں ثقلی میدان میں اس جسم کے توازن اور مختلف محوروں کے لحاظ سے اس کی قوت مروڑ کے بارے
۲۲۳۷۲ میں معلومات فراہم کرتا ہے۔ اب اگر یہ جسم گھومتا ہوا دھرا ہو تب ہمیں اس میں ذخیرہ توانائی جاننے میں زیادہ دلچسپی ہو گی تاکہ ہم جان سکیں کہ اس کو روکنے کے
۲۲۳۷۳ لئے یا اس کو کسی خاص زاویاتی رفتار تک پہنچانے میں کتنی توانائی درکار ہو گی۔ ایسی صورت میں معیار اثر دوم استعمال ہو گا۔

۲۲۳۷۴ اس دھرا کو متعدد چھوٹی کمیتوں Δm_k میں تقسیم کریں اور گھومنے کے محور سے k ویں کمیتی ٹکڑے کے فاصلہ کو r_k سے ظاہر کریں (شکل ۱۸.۱۴)۔ اگر
۲۲۳۷۵ دھرا کی زاویاتی سمتی رفتار $\omega = \frac{\mathrm{d}\theta}{\mathrm{d}t}$ ریڈیئن فی سیکنڈ ہو، تب اس ٹکڑے کا کمیتی مرکز اپنے مدار میں خطی رفتار

$$v_k = \frac{\mathrm{d}}{\mathrm{d}t}(r_k\theta) = r_k\frac{\mathrm{d}\theta}{\mathrm{d}t} = r_k\omega$$

۲۲۳۷۶ سے حرکت کرے گا۔ اس ٹکڑے کی حرکی توانائی تخمیناً

$$\frac{1}{2}\Delta m_k v_k^2 = \frac{1}{2}\Delta m_k (r_k\omega)^2 = \frac{1}{2}\omega^2 r_k^2 \Delta m_k \tag{۵}$$

۲۲۳۷۷ ہو گی۔ دھرا کی حرکی توانائی تخمیناً

$$\sum \frac{1}{2}\omega^2 r_k^2 \Delta m_k \tag{۶}$$

۲۲۳۷۸ ہو گی۔ دھرا کو زیادہ سے زیادہ ٹکڑوں میں تقسیم کرنے سے اس مجموعہ کی قیمت ایک حد تک پہنچتی ہے جسے تکمل

$$\text{دھرا کی حرکی توانائی} = \int \frac{1}{2}\omega^2 r^2\,\mathrm{d}m = \frac{1}{2}\omega^2 \int r^2\,\mathrm{d}m \tag{۷}$$

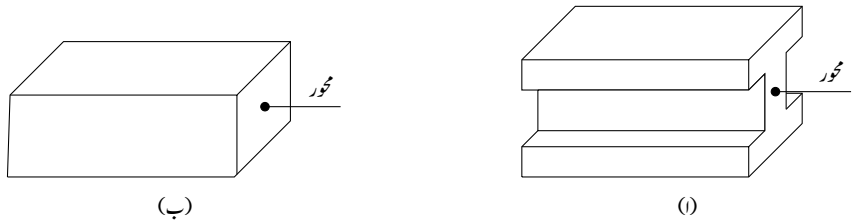

شکل ۱۴.۱۹: دونوں شہتیر کا رقبہ عمودی تراش ایک سا ہے لیکن شہتیر-ا کا جمودی معیار اثر زیادہ ہے لہٰذا شہتیر-ا زیادہ اکڑ ہو گا۔

۲۲۳۷۹ لکھا جا سکتا ہے۔ جزو

$$I = \int r^2 \, \mathrm{d}m \tag{۸}$$

۲۲۳۸۰ درحقیقت گھومنے کے محور کے لحاظ سے دھرے کا جمودی معیار اثر ہے جس کو استعمال کرتے ہوئے مساوات ۷ درج ذیل صورت اختیار کرتی ہے۔

$$\text{دھرا کی حرکی توانائی} = \frac{1}{2} I \omega^2 \tag{۹}$$

۲۲۳۸۱ ایک دھرا، جس کا جمودی معیار اثر I ہو، کو ω زاویاتی سمتی رفتار تک پہنچانے کے لئے $\frac{1}{2} I \omega^2$ حرکی توانائی درکار ہو گی اور اس رفتار پر چلتے ہوئے دھرا
۲۲۳۸۲ کو روکنے کے لئے ہمیں دھرا سے اتنی ہی حرکی توانائی نکالنی ہو گی۔ کمیت m کی گاڑی کو سمتی رفتار v تک پہنچانے کے لئے اس کو $\frac{1}{2} m v^2$ حرکی توانائی
۲۲۳۸۳ درکار ہو گی اور اس کو روکنے کے لئے اس گاڑی سے اتنی ہی حرکی توانائی نکالنی ہو گی۔ دھرے کا جمودی معیار اثر گاڑی کی کمیت کا مماثل ہے۔ گاڑی کی رفتار تیز یا کم
۲۲۳۸۴ کرنے کو گاڑی کی کمیت مشکل بناتی ہے۔ اسی طرح دھرے کی زاویاتی رفتار تیز یا کم کرنے کو دھرے کا جمودی معیار اثر مشکل بناتا ہے۔ جمودی معیار اثر کمیت کے
۲۲۳۸۵ علاوہ کمیت کی تقسیم کا بھی حساب رکھتا ہے۔

۲۲۳۸۶ بوجھ بردار افقی دھاتی شہتیر کے جھکاو کو بھی جمودی معیار اثر تعین کرتا ہے۔ شہتیر کا اکڑاپن I ضرب ایک مستقل ہوتا ہے، جہاں شہتیر کے افقی محور کے لحاظ سے
۲۲۳۸۷ عمودی تراش کا قطبی معیار اثر I ہے۔ جمودی معیار اثر I کی قیمت جتنی زیادہ ہو، شہتیر اتنا زیادہ اکڑ ہو گا اور اتنا کم جھکے گا۔ یہی وجہ ہے کہ ہم شکل ۱۴.۱۹-ا میں
۲۲۳۸۸ دکھایا گیا شہتیر استعمال کرتے ہیں تاکہ ایسے شہتیر جن کا عمودی تراش چوکور ہو (شکل ۱۴.۱۹-ب)۔ شہتیر کے بالائی اور زیریں کگر زیادہ تر کمیت کو افقی محور سے
۲۲۳۸۹ دور رکھتے ہوئے I کی قیمت کو زیادہ سے زیادہ بناتے ہیں۔

۲۲۳۹۰ جمودی معیار اثر کو سمجھنے کے لئے ایک تجربہ کریں۔ ایک قلم کے دونوں سروں کے ساتھ سکے چپکا کر قلم کو انگلیوں میں تیزی سے آگے پیچھے گھمائیں۔ گھومنے
۲۲۳۹۱ کا رخ تبدیل کرتے وقت آپ کو جو مزاحمت محسوس ہوتی ہے وہ جمودی معیار اثر کی وجہ سے ہے۔ اب ان سکوں کو قلم کے سروں سے دور اور آپس میں قریب
۲۲۳۹۲ کریں۔ قلم اور سکوں کی کمیت تبدیل نہیں ہوئی ہے البتہ اس نظام کا جمودی معیار اثر کم ہو ہے۔ اب آپ دیکھیں گے کہ انہیں آگے پیچھے گھمانا زیادہ آسان ہو گا۔

۲۲۳۹۳ آپ کہہ سکتے ہیں کہ معیار اثر اول کا تعلق توازن سے ہے جبکہ معیار اثر دوم کا تعلق گھومنے سے ہے۔

۲۲۳۹۴ مثال ۱۴.۸: محور x، لکیر $x = 1$ اور لکیر $y = 2x$ کے بیچ تکونی چادر پائی جاتی ہے۔ نقطہ (x, y) پر اس چادر کی کثافت $\delta(x, y) = 6x + 6y + 6$
۲۲۳۹۵ ہے۔ اس چادر کی کمیت، پہلا معیار اثر، مرکز کمیت، جمودی معیار اثر اور محددی محوروں کے لحاظ سے رداس دوار تلاش کریں۔

۲۲۳۹۶ حل: ہم اس خطہ کا خاکہ بنا کر (شکل ۱۴.۲۰) اس پر اتنی معلومات درج کرتے ہیں کہ تکمل کی حدیں جان سکیں۔

۲۲۳۹۷ چادر کی کمیت درج ذیل ہو گی۔

$$\begin{aligned}
M &= \int_0^1 \int_0^{2x} \delta(x,y)\,\mathrm{d}y\,\mathrm{d}x = \int_0^1 \int_0^{2x} (6x+6y+6)\,\mathrm{d}y\,\mathrm{d}x \\
&= \int_0^1 \Big[6xy+3y^2+6y\Big]_{y=0}^{y=2x}\,\mathrm{d}x \\
&= \int_0^1 (24x^2+12x)\,\mathrm{d}x = \Big[8x^3+6x^2\Big]_0^1 = 14
\end{aligned}$$

۲۲۳۹۸ محور x کے لحاظ سے پہلا معیار اثر درج ذیل ہو گا۔

$$\begin{aligned}
M_x &= \int_0^1 \int_0^{2x} y\delta(x,y)\,\mathrm{d}y\,\mathrm{d}x = \int_0^1 \int_0^{2x} (6xy+6y^2+6y)\,\mathrm{d}y\,\mathrm{d}x \\
&= \int_0^1 \Big[3xy^2+2y^3+3y^2\Big]_{y=0}^{y=2x}\,\mathrm{d}x = \int_0^1 (28x^3+12x^2)\,\mathrm{d}x \\
&= \Big[7x^4+4x^3\Big]_0^1 = 11
\end{aligned}$$

۲۲۳۹۹ اسی طرح محور y کے لحاظ سے پہلا معیار اثر درج ذیل حاصل ہو گا۔

$$M_y = \int_0^1 \int_0^{2x} x\delta(x,y)\,\mathrm{d}y\,\mathrm{d}x = 10$$

۲۲۴۰۰ مرکز کمیت کے محدد درج ذیل ہوں گے۔

$$\bar{x} = \frac{M_y}{M} = \frac{10}{14} = \frac{5}{7}, \quad \bar{y} = \frac{M_x}{M} = \frac{11}{14}$$

۲۲۴۰۱ محور x کے لحاظ سے جمودی معیار اثر درج ذیل ہو گا۔

$$\begin{aligned}
I_x &= \int_0^1 \int_0^{2x} y^2\delta(x,y)\,\mathrm{d}y\,\mathrm{d}x = \int_0^1 \int_0^{2x} (6xy^2+6y^3+6y^2)\,\mathrm{d}y\,\mathrm{d}x \\
&= \int_0^1 \Big[2xy^3+\frac{3}{2}y^4+2y^3\Big]_{y=0}^{y=2x}\,\mathrm{d}x = \int_0^1 (40x^4+16x^3)\,\mathrm{d}x \\
&= \Big[8x^5+4x^4\Big]_0^1 = 12
\end{aligned}$$

۲۲۴۰۲ اسی طرح محور y کے لحاظ سے جمودی معیار اثر درج ذیل حاصل ہو گا۔

$$I_y = \int_0^1 \int_0^{2x} x^2\delta(x,y)\,\mathrm{d}y\,\mathrm{d}x = \frac{39}{5}$$

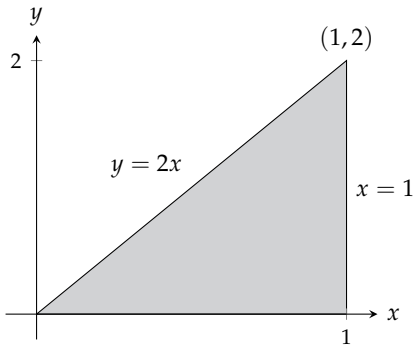

شکل ۱۴.۲۰: خطہ برائے مثال ۱۴.۸

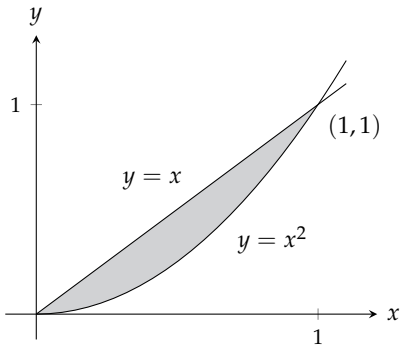

شکل ۱۴.۲۱: خطہ برائے مثال ۱۴.۹

۲۲۴۰۳ ہم I_x اور I_y کی قیمتوں سے I_0 کی قیمت کلیہ $I_0 = I_x + I_y$ کی مدد سے حاصل کرتے ہیں۔

$$I_0 = 12 + \frac{39}{5} = \frac{60+39}{5} = \frac{99}{5}$$

۲۲۴۰۴ تین رداس دوار درج ذیل ہوں گے۔

$$R_x = \sqrt{\frac{I_x}{M}} = \sqrt{\frac{12}{14}} = \sqrt{\frac{6}{7}}$$
$$R_y = \sqrt{\frac{I_y}{M}} = \sqrt{\left(\frac{39}{5}\right)/14} = \sqrt{\frac{39}{70}}$$
$$R_0 = \sqrt{\frac{I_0}{M}} = \sqrt{\left(\frac{99}{5}\right)/14} = \sqrt{\frac{99}{70}}$$

۲۲۴۰۵ □

۲۲۴۰۶ جیومیٹریائی اشکال کے وسطانی مراکز

۲۲۴۰۷ مستقل کثافت کی صورت میں $\bar{x}$ اور $\bar{y}$ کے کلیات میں شمار کنندہ اور نسب نما میں موجود کثافت ایک دوسرے کو منسوخ کرتے ہیں۔ $\bar{x}$ اور $\bar{y}$ کے نقطہ
۲۲۴۰۸ نظر سے δ کی قیمت 1 ہو سکتی ہے۔ یوں مستقل δ کی صورت میں مرکز کمیت کا دارومدار جسم کی شکل و صورت پر منحصر ہو گا نا کہ جسم کے مادہ پر۔ ایسی
۲۲۴۰۹ صورت میں مرکز کمیت عموماً شکل کا **وسطانی مرکز**[1] پکارا جاتا ہے۔ وسطانی مرکز کی تلاش میں ہم $\delta = 1$ لے کر، پہلے کی طرح، معیار اثر اول کو کمیت سے
۲۲۴۱۰ تقسیم کرتے ہوئے $\bar{x}$ اور $\bar{y}$ دریافت کرتے ہیں۔

۲۲۴۱۱ مثال ۱۴.۹: ربع اول میں اوپر سے لکیر $y = x$ اور نیچے سے قطع مکافی $y = x^2$ ایک خطہ کو محدود کرتے ہیں۔ اس خطہ کا وسطانی مرکز تلاش
۲۲۴۱۲ کریں۔

[1] centroid

۲۲۴۱۳ حل: ہم خطے کا خاکہ بنا کر تکمل کی حدیں جانتے ہیں (شکل ۱۴.۲۱)۔ اس کے بعد $\delta = 1$ لے کر آگے بڑھتے ہیں۔

$$M = \int_0^1 \int_{x^2}^x 1 \, \mathrm{d}y \, \mathrm{d}x = \int_0^1 \Big[y\Big]_{y=x^2}^{y=x} \mathrm{d}x = \int_0^1 (x - x^2) \, \mathrm{d}x = \Big[\frac{x^2}{2} - \frac{x^3}{3}\Big]_0^1 = \frac{1}{6}$$

$$\begin{aligned} M_x &= \int_0^1 \int_{x^2}^x y \, \mathrm{d}y \, \mathrm{d}x = \int_0^1 \Big[\frac{y^2}{2}\Big]_{y=x^2}^{y=x} \mathrm{d}x \\ &= \int_0^1 \Big(\frac{x^2}{2} - \frac{x^4}{2}\Big) \mathrm{d}x = \Big[\frac{x^3}{6} - \frac{x^5}{10}\Big]_0^1 = \frac{1}{15} \end{aligned}$$

$$M_y = \int_0^1 \int_{x^2}^x x \, \mathrm{d}y \, \mathrm{d}x = \int_0^1 \Big[xy\Big]_{y=x^2}^{y=x} \mathrm{d}x = \int_0^1 (x^2 - x^3) \, \mathrm{d}x = \Big[\frac{x^3}{3} - \frac{x^4}{4}\Big]_0^1 = \frac{1}{12}$$

۲۲۴۱۴ ان قیمتوں کو استعمال کرتے ہوئے ہم وسطانی مرکز کے محدد دریافت کرتے ہیں۔

$$\bar{x} = \frac{M_y}{M} = \frac{1/12}{1/6} = 2, \quad \bar{y} = \frac{M_x}{M} = \frac{1/15}{1/6} = \frac{2}{5}$$

۲۲۴۱۵ نقطہ $\left(\frac{1}{2}, \frac{2}{5}\right)$ اس خطے کا وسطانی مرکز ہو گا۔ □

۲۲۴۱۶ **سوالات**

۲۲۴۱۷ **رقبہ بذریعہ دوہرا تکمل**

۲۲۴۱۸ سوال ۱۴.۷۱ تا سوال ۱۴.۷۸ میں منحنیات اور لکیروں کے بیچ خطے کا خاکہ بنا کر اس خطے کے رقبہ کو بطور دوہرا بار ہا تکمل لکھیں۔ اس تکمل کی قیمت دریافت
۲۲۴۱۹ کریں۔

۲۲۴۲۰ سوال ۱۴.۷۱: محددی محور اور لکیر $x + y = 2$

۲۲۴۲۱ سوال ۱۴.۷۲: لکیر $x = 0$ ، $y = 2x$ اور $y = 4$

۲۲۴۲۲ سوال ۱۴.۷۳: قطع مکافی $x = -y^2$ اور لکیر $y = x + 2$

۲۲۴۲۳ سوال ۱۴.۷۴: قطع مکافی $x = y - y^2$ اور لکیر $y = -x$

۲۲۴۲۴ سوال ۱۴.۷۵: منحنی $y = e^x$ اور لکیر $y = 0$ ، $x = 0$ اور $x = \ln 2$

۲۲۴۲۵ سوال ۱۴.۷۶: ربع اول میں منحنیات $y = \ln x$ ، $y = 2 \ln x$ اور لکیر $x = e$

۲۲۴۲۶ سوال ۱۴.۷۷: قطع مکافی $x = y^2$ اور $x = 2y - y^2$

۲۲۴۲۷ سوال ۱۴.۷۸: قطع مکافی $x = y^2 - 1$ اور $x = 2y^2 - 2$

۲۲۴۲۸

سوال ۱۴.۷۹ تا سوال ۱۴.۸۴ میں مستوی xy میں خطوں کے رقبات کو تکمل یا تکملات کے مجموعوں کی کی صورت میں پیش کیا گیا ہے۔ ان خطوں کا خاکہ بنا کر سرحدی منحنیات پر ان کی مساواتیں لکھیں اور ان نقطوں کی نشاندہی کریں جہاں منحنیات ایک دوسرے کو قطع کرتی ہیں۔ اس کے بعد ان خطہ کا رقبہ تلاش کریں۔

سوال ۱۴.۷۹: $\int_0^6 \int_{y^2/3}^{2y} \mathrm{d}x\,\mathrm{d}y$

سوال ۱۴.۸۰: $\int_0^3 \int_{-x}^{x(2-x)} \mathrm{d}y\,\mathrm{d}x$

سوال ۱۴.۸۱: $\int_0^{\pi/4} \int_{\sin x}^{\cos x} \mathrm{d}y\,\mathrm{d}x$

سوال ۱۴.۸۲: $\int_{-1}^{2} \int_{y^2}^{y+2} \mathrm{d}x\,\mathrm{d}y$

سوال ۱۴.۸۳: $\int_{-1}^{0} \int_{-2x}^{1-x} \mathrm{d}y\,\mathrm{d}x + \int_0^2 \int_{-x/2}^{1-x} \mathrm{d}y\,\mathrm{d}x$

سوال ۱۴.۸۴: $\int_0^2 \int_{x^2-4}^{0} \mathrm{d}y\,\mathrm{d}x + \int_0^4 \int_0^{\sqrt{x}} \mathrm{d}y\,\mathrm{d}x$

اوسط قیمت

سوال ۱۴.۸۵: تفاعل $f(x,y) = \sin(x+y)$ کی اوسط قیمت درج ذیل خطوں پر تلاش کریں۔

ا. مستطیل $0 \le x \le \pi,\ 0 \le y \le \pi$

ب. مستطیل $0 \le x \le \pi,\ 0 \le y \le \pi/2$

سوال ۱۴.۸۶: کیا چوکور $0 \le x \le 1,\ 0 \le y \le 1$ یا ربع اول میں دائرہ $x^2+y^2=1$ میں $f(x,y) = xy$ کی اوسط قیمت زیادہ ہو گی؟ ان دونوں خطوں میں اوسط کی قیمت تلاش کریں۔

سوال ۱۴.۸۷: چوکور $0 \le x \le 2,\ 0 \le y \le 2$ میں قطع مکافی $z = x^2+y^2$ کا اوسط قد تلاش کریں۔

سوال ۱۴.۸۸: چوکور $\ln 2 \le x \le 2\ln 2,\ \ln 2 \le y \le 2\ln 2$ میں $f(x,y) = \frac{1}{xy}$ کی اوسط قیمت تلاش کریں۔

مستقل کثافت

سوال ۱۴.۸۹: ربع اول میں قطع مکافی $y = 2-x^2$ اور لکیر $x=0$ ، $y=x$ کے بیچ ایک باریک چادر جس کی کثافت $\delta = 3$ ہو پائی جاتی ہے۔ اس کا مرکز کمیت تلاش کریں۔

سوال ۱۴.۹۰: ربع اول میں محددی محور اور لکیر $x=3$ اور $y=3$ کے بیچ مستقل کثافت کی باریک مستطیل چادر پائی جاتی ہے۔ اس کے جمودی معیار اثر اور رداس دوار تلاش کریں۔

سوال ۱۴.۹۱: ربع اول میں محور x ، قطع مکافی $y^2=2x$ اور لکیر $x+y=4$ کے بیچ خطہ کا وسطانی مرکز تلاش کریں۔

سوال ۱۴.۹۲: ربع اول سے لکیر $x+y=3$ ایک تکونی خطہ کاٹتی ہے۔ اس خطہ کا وسطانی مرکز تلاش کریں۔

سوال ۱۴.۹۳: محور x اور منحنی $y=\sqrt{1-x^2}$ کے بیچ خطہ کا وسطانی مرکز تلاش کریں۔

سوال ۱۴.۹۴: ربع اول میں قطع مکافی $y = 6x - x^2$ اور لکیر $y = x$ کے بیچ خطے کا رقبہ $\frac{125}{6}$ ہے۔اس کا وسطانی مرکز تلاش کریں۔

سوال ۱۴.۹۵: ربع اول سے دائرہ $x^2 + y^2 = a^2$ ایک خطہ کاٹتا ہے۔اس خطہ کا وسطانی مرکز تلاش کریں۔

سوال ۱۴.۹۶: دائرہ $x^2 + y^2 = 4$ کے بیچ کثافت $\delta = 1$ کی باریک چادر کے محور x کے لحاظ سے جمودی معیار اثر تلاش کریں۔اس نتیجہ کو استعمال کرتے ہوئے اس خطہ کی I_y اور I_0 دریافت کریں۔

سوال ۱۴.۹۷: محور x اور قوس $y = \sin x,\ 0 \le x \le \pi$ کے بیچ خطہ کا وسطانی مرکز تلاش کریں۔

سوال ۱۴.۹۸: محور x اور منحنی $y = \frac{\sin^2 x}{x^2}$ کے بیچ وقفہ $\pi \le x \le 2\pi$ پر کثافت $\delta = 1$ کی باریک چادر پائی جاتی ہے۔محور y کے لحاظ سے اس کی جمودی معیار اثر تلاش کریں۔

سوال ۱۴.۹۹: لامتناہی خطہ کا وسطانی مرکز

ربع دوم میں محدد دی محور اور منحنی $y = e^x$ کے بیچ خطہ کا وسطانی مرکز تلاش کریں۔(کمیت اور معیار اثر کے کلیات میں آپ کو غیر مناسب تکملات استعمال کرنے ہوں گے۔)

سوال ۱۴.۱۰۰: لامتناہی چادر کا پہلا معیار اثر

ربع اول میں منحنی $y = e^{-x^2/2}$ کے نیچے کثافت $\delta = 1$ کے لامتناہی جسامت کی چادر کا محور y کے لحاظ سے پہلا معیار اثر تلاش کریں۔

متغیر کثافت

سوال ۱۴.۱۰۱: قطع مکافی $x = y - y^2$ اور لکیر $x + y = 0$ کے بیچ باریک چادر کی کثافت $\delta(x, y) = x + y$ ہے۔محور x کے لحاظ سے اس کی جمودی معیار اثر اور رداس دوار تلاش کریں۔

سوال ۱۴.۱۰۲: ترخیم $x^2 + 4y^2 = 12$ سے قطع مکافی $x = 4y^2$ جس چھوٹے حصہ کو کاٹتا ہے،اس کی کثافت $\delta(x, y) = 5x$ ہے۔اس کی کمیت تلاش کریں۔

سوال ۱۴.۱۰۳: محور y اور لکیر $y = x$ اور $y = 2 - x$ کے بیچ تکونی چادر کی کثافت $\delta(x, y) = 6x + 3y + 3$ ہے۔اس چادر کا مرکز کمیت تلاش کریں۔

سوال ۱۴.۱۰۴: منحنیات $x = y^2$ اور $x = 2y - y^2$ کے بیچ باریک چادر کی کثافت $\delta(x, y) = y + 1$ ہے۔اس کی کمیت اور محور x کے لحاظ سے جمودی معیار اثر تلاش کریں۔

سوال ۱۴.۱۰۵: ربع اول سے خطوط $x = 6$ اور $y = 1$ ایک مستطیل باریک چادر کاٹتے ہیں جس کی کثافت $\delta(x, y) = x + y + 1$ ہے۔اس کی مرکز کمیت اور محور y کے لحاظ سے جمودی معیار اثر اور رداس دوار تلاش کریں۔

سوال ۱۴.۱۰۶: قطع مکافی $y = x^2$ اور لکیر $y = 1$ کے بیچ باریک چادر کی کثافت $\delta(x, y) = y + 1$ ہے۔اس کا مرکز کمیت اور محور y کے لحاظ سے جمودی معیار اثر اور رداس دوار تلاش کریں۔

سوال ۱۴.۱۰۷: قطع مکافی $y = x^2$ ، محور x اور لکیر $x = \mp 1$ کے بیچ باریک چادر کی کثافت $\delta(x, y) = 7y + 1$ ہے۔اس کا مرکز کمیت اور محور y کے لحاظ سے جمودی معیار اثر اور رداس دوار تلاش کریں۔

سوال ۱۴.۱۰۸: خطوط $x = 0$ ، $x = 20$ ، $y = -1$ اور $y = 1$ کے بیچ باریک چادر کی کثافت $\delta(x, y) = 1 + x/20$ ہے۔اس کا مرکز کمیت اور محور x کے لحاظ سے جمودی معیار اثر اور رداس دوار تلاش کریں۔

سوال ۱۴.۱۰۹: لکیر $y = x$ ، $y = -x$ اور $y = 1$ کے بیچ تکونی چادر کی کثافت $\delta(x, y) = y + 1$ ہے۔ اس کا مرکز کمیت اور محددی محوروں کے لحاظ سے جمودی معیار اثر اور رداس دوار تلاش کریں۔ اس کا قطبی جمودی معیار اثر اور رداس دوار بھی تلاش کریں۔

سوال ۱۴.۱۱۰: کثافت $\delta(x, y) = 3x^2 + 1$ لیتے ہوئے سوال ۱۴.۱۰۹ کو دوبارہ حل کریں۔

نظریہ اور مثالیں

سوال ۱۴.۱۱۱: مستوی xy میں جراثیم کی تعدادی کثافت $f(x, y) = \frac{10000e^y}{1+|x|/2}$ ہے جہاں x اور y کی ناپ سنٹی میٹر میں ہے۔ مستطیل $-5 \leq x \leq 5, -2 \leq y \leq 0$ میں جراثیم کی کل تعداد تلاش کریں۔

سوال ۱۴.۱۱۲: سطح زمین پر کثافت آبادی $f(x, y) = 100(y + 1)$ ہے جہاں x اور y کلومیٹر میں ہیں۔ منحنیات $x = y^2$ اور $x = 2y - y^2$ کے بیچ کل آبادی کتنی ہو گی؟

سوال ۱۴.۱۱۳: مستقل کثافت کا ایک برتن مستوی xy میں خطہ $-1 \leq x \leq 1$, $0 \leq y \leq a(1 - x^2)$ پر واقع ہے۔ یہ برتن $45°$ تک ٹیڑھا کرنے تک واپس اپنی جگہ پر آن گرتا ہے۔ مستقل a کی قیمت تلاش کریں۔

سوال ۱۴.۱۱۴: جمودی معیار اثر کم سے کم کرنا

ربع اول میں کثافت $\delta(x, y) = 1$ کی چادر لکیر $x = 4$ اور $y = 2$ کے بیچ پائی جاتی ہے۔ لکیر $y = a$ کے لحاظ سے اس چادر کی جمودی معیار اثر I_a درج ذیل ہے۔

$$I_a = \int_0^4 \int_0^2 (y - a)^2 \, \mathrm{d}y \, \mathrm{d}x$$

مستقل a کی وہ قیمت تلاش کریں جو I_a کو کم سے کم کرتا ہو۔

سوال ۱۴.۱۱۵: مستوی xy میں لکیر $y = \frac{1}{\sqrt{1-x^2}}$ ، $y = -\frac{1}{\sqrt{1-x^2}}$ ، $x = 0$ اور $x = 1$ کے بیچ لامتناہی خطہ کا وسطانی مرکز تلاش کریں۔

سوال ۱۴.۱۱۶: ایک پتلی چھڑی کی مستقل خطی کثافت δ گرام فی سنٹی میٹر اور لمبائی L ہے۔ اس کا رداس دوار دیے گئے محور کے لحاظ سے تلاش کریں۔

ا. چھڑی کے محور کو عمودی اور اس کی مرکز کمیت سے گزرتے ہوا خط۔

ب. چھڑی کے ایک سر پر چھڑی کے محور کو عمودی خط۔

سوال ۱۴.۱۱۷: مستوی xy میں مستقل کثافت δ کی چادر منحنیات $x = y^2$ اور $x = 2y - y^2$ کے بیچ پائی جاتی ہے۔

ا. ایسا δ دریافت کریں کہ چادر کی کمیت سوال ۱۴.۱۰۴ کے چادر کی کمیت کے برابر ہو۔

ب. جزو-ا میں حاصل δ کی قیمت کا اس خطہ پر $\delta(x, y) = y + 1$ کی اوسط قیمت کے ساتھ موازنہ کریں۔

سوال ۱۴.۱۱۸: دائرہ $x^2 + (y - 1)^2 = 1$ کی کثافت مستقل ہے۔ محوروں کے لحاظ سے اس کے جمودی معیار اثر تلاش کریں۔

مسئلہ متوازی محور

مستوی xy میں ایک خطہ پر کمیت m کی باریک چادر پائی جاتی ہے۔ اس کے مرکز کمیت سے خط $L_{c,m}$ گزرتا ہے۔ خط $L_{c,m}$ کے متوازی h اکائیاں

دور خط L پایا جاتا ہے۔ مسئلہ متوازی محور کہتا ہے کہ $L_{c,m}$ اور L کے لحاظ سے بالترتیب جمودی معیار اثر $I_{c,m}$ اور I_L درج ذیل کلیہ کو مطمئن کریں گے۔

$$I_L = I_{c,m} + mh^2 \tag{۱۰}$$

اس کلیہ کو استعمال کرتے ہوئے ایک جمودی معیار اثر سے دوسرا با آسانی دریافت کیا جا سکتا ہے۔

سوال ۱۴.۱۱۹: مسئلہ متوازی محور کا ثبوت

(ا) دکھائیں کہ باریک چادر کے مرکز کمیت سے گزرتی خط کے لحاظ سے چادر کا جمودی معیار اثر صفر ہو گا۔ (اشارہ: مرکز کمیت کو مبدا پر رکھیں اور خط کو محور y پر رکھیں۔ کلیہ $\bar{x} = \frac{M_y}{M}$ کیا دیگا؟) (ب) جزو-ا کے نتیجہ سے مسئلہ متوازی محور اخذ کریں۔ (اشارہ: خط $L_{c,m}$ کو محور y اور L کو $x = h$ پر رکھ کر I_L کے تکمل کو دو حصوں میں لکھیں۔)

سوال ۱۴.۱۲۰: (ا) مسئلہ متوازی محور استعمال کرتے ہوئے مثال ۱۴.۸ کے نتائج استعمال کرتے ہوئے اس مثال میں چادر کے مرکز کمیت سے گزرتی افقی اور انتصابی خطوط کے لحاظ سے چادر کی جمودی معیار اثر تلاش کریں۔ (ب) جزو-ا کے نتائج استعمال کرتے ہوئے خطوط $x = 1$ اور $y = 2$ کے لحاظ سے چادر کی جمودی معیار اثر دریافت کریں۔

کلیہ پاپس

جناب پاپس نے حصہ ۶.۱۰ کا مسئلہ پاپس بیان کیا۔ اس کے علاوہ وہ جانتے تھے کہ ایک دوسرے کو نہ ڈھانپتے ہوئے دو مستوی خطوں کا وسطانی مرکز ان خطوں کے وسطانی مراکز سے گزرتے ہوئے خط پر پایا جاتا ہے۔ مستوی xy میں ایک دوسرے کو نہ ڈھانپتی ہوئی دو باریک چادر P_1 اور P_2 فرض کریں، جن کی کمیت بالترتیب m_1 اور m_2 ہو۔ مبدا سے بالترتیب ان چادروں کے مراکز کمیت تک سمتیات $\boldsymbol{c}_1$ اور $\boldsymbol{c}_2$ لیں۔ اب اشتراک $P_1 \cup P_2$ کے مرکز کمیت کا تعین گر سمتیہ درج ذیل دیگا۔

$$\boldsymbol{c} = \frac{m_1\boldsymbol{c}_1 + m_2\boldsymbol{c}_2}{m_1 + m_2} \tag{۱۱}$$

مساوات ۱۱ کو **کلیہ پاپس**[۱۲] کہتے ہیں۔ ایک دوسرے کو نہ ڈھانپتی ہوئی دو سے زیادہ (لیکن متناہی تعداد کی) چادروں کے لئے درج ذیل کلیہ ہو گا۔

$$\boldsymbol{c} = \frac{m_1\boldsymbol{c}_1 + m_2\boldsymbol{c}_2 + \cdots + m_n\boldsymbol{c}_n}{m_1 + m_2 + \cdots + m_n} \tag{۱۲}$$

یہ کلیہ بالخصوص وہاں فائدہ مند ہو گا جہاں غیر منظم شکل و صورت کی چادر کے حصوں کے وسطانی مراکز ہم جیومیٹری سے علیحدہ علیحدہ طور پر جانتے ہوں اور جہاں ہر حصہ از خود مستقل کثافت کا ہو۔ ہم اس کلیہ کو استعمال کرتے ہوئے پوری چادر کا وسطانی مرکز معلوم کر سکتے ہیں۔

سوال ۱۴.۱۲۱: کلیہ پاپس (مساوات ۱۱) اخذ کریں۔ (اشارہ: ربع اول میں ان خطوں کو ترسیم کر کے ان کے مراکز کمیت $(\bar{x}_1, \bar{y}_1)$ اور $(\bar{x}_2, \bar{y}_2)$ کی نشاندہی کریں۔ محددی محور کے لحاظ سے $P_1 \cup P_2$ کے معیار اثر کیا ہوں گے؟)

سوال ۱۴.۱۲۲: ریاضی (الکراجی) ماخوذ اور مساوات ۱۱ استعمال کرتے ہوئے دکھائیں کہ کسی بھی عدد صحیح $n > 2$ کے لئے مساوات ۱۲ مطمئن ہو گا۔

سوال ۱۴.۱۲۳: فرض کریں A ، B اور C تین اشکال ہیں (شکل ۱۴.۲۲-ا)۔ کلیہ پاپس کی مدد سے درج ذیل کے وسطانی مراکز دریافت کریں۔

---

[۱۲] Pappus'sformula

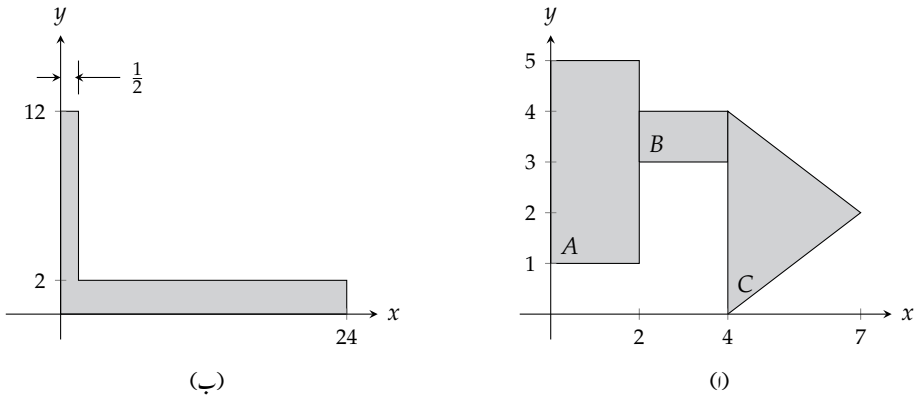

شکل ۱۴.۲۲: اشکال برائے سوال ۱۴.۱۲۳ اور سوال ۱۴.۱۲۴

۲۲۵۳۲ ا. $A \cup B$ ۲۲۵۳۳ ب. $A \cup C$ ۲۲۵۳۴ ج. $B \cup C$ ۲۲۵۳۵ د. $A \cup B \cup C$

۲۲۵۳۶ سوال ۱۴.۱۲۴: وسطانی مرکز دریافت کریں (شکل ۱۴.۲۲-ب)۔

۲۲۵۳۷ سوال ۱۴.۱۲۵: ایک مساوی الساقین مثلث T کا قاعدہ $2a$ اور قد h ہے۔ اس کا قاعدہ، رداس a کے نصف دائرہ D کے قطر پر پایا جاتا ہے۔ مثلث
۲۲۵۳۸ دائرہ کے باہر ہے۔ $T \cup D$ کا وسطانی مرکز (ا) T اور D کی مشترک سرحد پر (ب) T کے اندر ہونے کے لئے a اور h کا تعلق دریافت کریں۔

۲۲۵۳۹ سوال ۱۴.۱۲۶: ایک مساوی الساقین مثلث T جس کا قد h ہے کا قاعدہ چوکور Q کا ایک ضلع ہے۔ چوکور کے ضلع کی لمبائی s ہے۔ (چوکور اور مثلث
۲۲۵۴۰ ایک دوسرے کو نہیں ڈھانپتے ہیں۔) $T \cup Q$ کا وسطانی مرکز مثلث کے قاعدہ پر رکھنے کی خاطر h کا s کے ساتھ کیا تعلق گا؟ اپنے جواب کا موازنہ سوال
۲۲۵۴۱ ۱۴.۱۲۵ کے جواب کے ساتھ کریں۔

۲۲۵۴۲

۲۲۵۴۳

۲۲۵۴۴ ۱۴.۳ دوہرا تکملات کا قطبی روپ

۲۲۵۴۵ بعض اوقات تکمل کو قطبی روپ میں تبدیل کرنے سے اس کا حل آسان ہو جاتا ہے۔ اس حصہ میں یہ تبدیلی دکھائی جائے گی اور ان تکملات کی قیمت کا حصول
۲۲۵۴۶ دکھایا جائے گا جن کے سرحد قطبی روپ میں دیے گئے ہوں۔

۲۲۵۴۷ قطبی روپ میں تکملات

۲۲۵۴۸ مستوی xy میں دوہرا تکمل کا ذکر کرتے ہوئے ہم نے خطہ R کو مستطیلی ٹکڑوں میں اس طرح کاٹا کہ مستطیل کے اضلاع محددی محوروں کے متوازی
۲۲۵۴۹ ہوں۔ اس طرح ان مستطیلوں کے اضلاع مستقل x اور یا مستقل y لکھے جا سکتے ہیں۔ کارتیسی محدد میں مستطیل قدرتی صورت ہے۔ قطبی محددی نظام میں

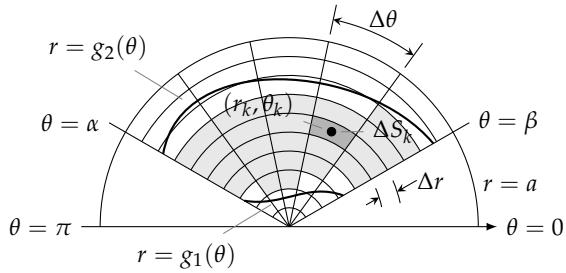

شکل ۱۴.۲۳: خطہ $R : g_1(\theta) \le r \le g_2(\theta)$ ، $\alpha \le \theta \le \beta$ پنکھا نما خطہ $Q : 0 \le r \le a$ ، $\alpha \le \theta \le \beta$ میں پایا جاتا ہے۔ خطہ Q کی خانہ بندی شعاعوں اور دائری قوسین سے کرتے ہوئے R کی خانہ بندی کی جاتی ہے۔

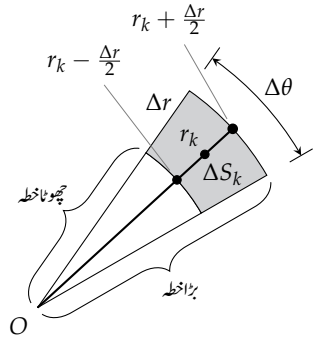

شکل ۱۴.۲۴: سایہ دار خطے کا رقبہ ΔS_k حاصل کرنے کے لئے بڑے خطے سے چھوٹے خطے کا رقبہ منفی کریں۔

۲۲۵۵۰ ''قطبی مستطیل'' قدرتی صورت ہے جس کے اضلاع مستقل r اور مستقل θ لکھے جا سکتے ہیں۔

۲۲۵۵۱ فرض کریں تفاعل $f(r, \theta)$ خطہ R پر معین ہے جس کے سرحد شعاع $\theta = \alpha$ اور $\theta = \beta$ اور استمراری منحنیات $r = g_1(\theta)$ اور
۲۲۵۵۲ $r = g_2(\theta)$ ہیں۔ مزید α اور β کے بیچ ہر قیمت کے لئے $0 \le g_1(\theta) \le g_2(\theta) \le a$ ہے۔ یوں R پنکھا نما خطہ Q میں، جس کو
۲۲۵۵۳ عدم مساوات $0 \le r \le a,\ \alpha \le \theta \le \beta$ ظاہر کرتی ہیں، پایا جائے گا (شکل ۱۴.۲۳)۔

۲۲۵۵۴ ہم Q پر دائری قوسین اور شعاعوں کا جال بچھاتے ہیں۔ یہ قوسین ان دائروں سے کاٹے جاتے ہیں جن کا مرکز مبدا پر ہے اور جن کے رداس Δr ، $2\Delta r$ ،
۲۲۵۵۵ $\cdots$ ، $m\Delta r$ ہیں جہاں $\Delta r = \frac{a}{m}$ ہے۔ ان شعاع کو درج ذیل لکھا جا سکتا ہے جہاں $\Delta\theta = \frac{\beta-\alpha}{m'}$ ہے۔

$$\theta = \alpha,\ \theta = \alpha + \Delta\theta,\ \theta = \alpha + 2\Delta\theta, \cdots, \theta = \alpha + m'\Delta\theta = \beta$$

۲۲۵۵۶ یہ شعاع اور قوسین Q کو ''قطبی مستطیلوں'' میں تقسیم کرتے ہیں۔

۲۲۵۵۷ ہم ان قطبی مستطیلوں کو 1 تا n کی شمار سے ظاہر کرتے ہیں جو مکمل طور پر R کے اندر پائے جاتے ہوں اور ان کے رقبوں کو ΔS_1 ، ΔS_2 ، $\cdots$ ،
۲۲۵۵۸ ΔS_n سے ظاہر کرتے ہیں۔ شمار کرنے کی ترتیب غیر ضروری ہے۔ ہم ΔS_k رقبے کی قطبی مستطیل کے مرکز کو (r_k, θ_k) سے ظاہر کرتے ہیں۔ قطبی
۲۲۵۵۹ مستطیل کے مرکز سے مراد وہ نقطہ ہے جو دونوں دائری قوسین کے اوسط رداس کی قوس اور اس شعاع پر پایا جاتا ہو جو دونوں قوسین کو درمیان سے کاٹتی ہو۔ ہم
۲۲۵۶۰ اب درج ذیل مجموعہ لیتے ہیں۔

$$J_n = \sum_{k=1}^{n} f(r, \theta)\Delta S_n \tag{1}$$

۲۲۵۶۱ اگر پورے R پر f استمراری ہو، تب جال کے خانے چھوٹے سے چھوٹے کر کے Δr اور $\Delta\theta$ کو صفر تک پہنچانے سے یہ مجموعہ ایک حد تک پہنچتا ہے۔ یہ

۲۲۵۶۲ حد R پر f کا دوہرا تکمل کہلاتا ہے جس کو علامتی طور پر درج ذیل لکھا جاتا ہے۔

$$\lim_{n\to\infty} J_n = \iint\limits_R f(r,\theta)\,\mathrm{d}S$$

۲۲۵۶۳ اس حد کی قیمت تلاش کرنے کی خاطر ہمیں مجموعہ J_n یوں لکھنا ہو گا کہ ΔS_k کی قیمت Δr اور $\Delta\theta$ کی روپ میں ہو۔ رقبہ ΔS_k کی اندرونی قوسی
۲۲۵۶۴ سرحد کا رداس $r_k - \frac{\Delta r}{2}$ جبکہ اس کی بیرونی قوسی سرحد کا رداس $r_k + \frac{\Delta r}{2}$ ہے (شکل ۱۴.۲۴)۔ ان قوسین سے مبدا تک دائری تکونی خطوں کے
۲۲۵۶۵ رقبے

$$\begin{aligned} &\text{اندرونی تکونی رقبہ} \quad \frac{1}{2}\left(r_k - \frac{\Delta r}{2}\right)^2 \Delta\theta \\ &\text{بیرونی تکونی رقبہ} \quad \frac{1}{2}\left(r_k + \frac{\Delta r}{2}\right)^2 \Delta\theta \end{aligned} \tag{۲}$$

۲۲۵۶۶ ہوں گے۔ یوں درج ہو گا۔

$$\begin{aligned} \Delta S_k &= \text{اندرونی تکونی رقبہ} - \text{بیرونی تکونی رقبہ} \\ &= \frac{\Delta\theta}{2}\left[\left(r_k + \frac{\Delta r}{2}\right)^2 - \left(r_k - \frac{\Delta r}{2}\right)^2\right] = \frac{\Delta\theta}{2}(2r_k\Delta r) = r_k\Delta r_k\Delta\theta \end{aligned}$$

۲۲۵۶۷ اس نتیجہ کو مساوات ۱ میں پر کرنے سے درج ذیل حاصل ہو گا۔

$$J_n = \sum_{k=1}^{n} f(r_k,\theta_k) r_k \Delta r \Delta\theta \tag{۳}$$

۲۲۵۶۸ مسئلہ فوبینی کی ایک صورت کہتی ہے کہ اس مجموعہ کی حد r اور θ کے لحاظ سے درج ذیل بار ہا تکمل دیگا۔

$$\iint\limits_R f(r,\theta)\,\mathrm{d}S = \int_{\theta=\alpha}^{\theta=\beta}\int_{r=g_1(\theta)}^{r=g_2(\theta)} f(r,\theta) r\,\mathrm{d}r\,\mathrm{d}\theta \tag{۴}$$

۲۲۵۶۹ تکمل کی حدیں

۲۲۵۷۰ کارتیسی محدد میں تکمل کی حدیں تلاش کرنے کا طریقہ کار قطبی محدد کے لئے بھی کارآمد ہے۔

۲۲۵۷۱ **قطبی محدد میں تکمل حاصل کرنے کا طریقہ**

۲۲۵۷۲ قطبی محدد میں خطہ R پر $\iint_R f(r,\theta)\,\mathrm{d}S$ کی قیمت حاصل کرنے کے لئے پہلے r کے لحاظ سے اور بعد میں θ کے لحاظ سے تکمل لیتے ہوئے ہمیں
۲۲۵۷۳ درج ذیل اقدام کرنے ہوں گے۔

۲۲۵۷۴ ۱. خاکہ: تکمل کے خطہ کا خاکہ بنائیں اور اس کی سرحدی منحنیات پر نام و نشان لگائیں (شکل ۱۴.۲۵-۱)۔

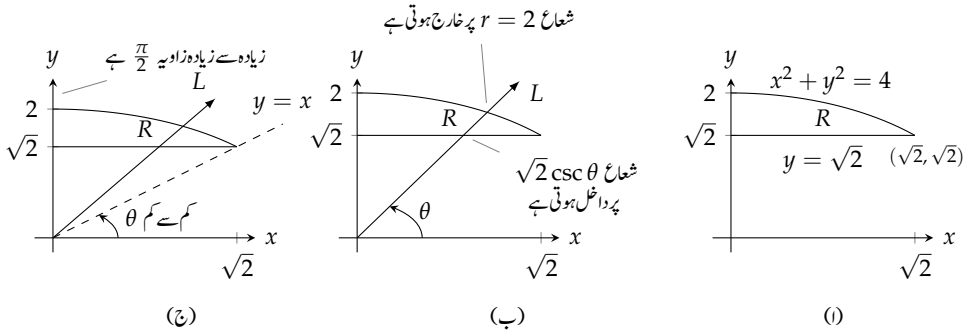

شکل ۱۴.۲۵: قطبی محدد میں تکمل کی قیمت کے قدم۔

۲۲۵۷۵ ۲. تکمل کی r حدیں: مبدا سے بڑھتی ہوئی r کے رخ خطہ R سے گزرتا ہوا شعاع L کھینچیں۔ جن مقامات پر L اس خطہ میں داخل اور اس سے
۲۲۵۷۶ خارج ہوتا ہے، یہ تکمل کی r حدیں ہوں گے۔ ان کی قیمتیں عموماً θ پر منحصر ہو گی (شکل ۱۴.۲۵-ب)۔

۲۲۵۷۷ ۳. تکمل کی θ حدیں: وہ θ حدیں منتخب کریں جن میں R سے گزرتی ہوئی تمام شعاعیں شامل ہوں (شکل ۱۴.۲۵-ج)۔

۲۲۵۷۸ تکمل درج ذیل ہو گا۔

$$\int_R f(r,\theta)\,\mathrm{d}S = \int_{\theta=\pi/4}^{\theta=\pi/2} \int_{r=\sqrt{2}\csc\theta}^{r=2} f(r,\theta) r\,\mathrm{d}r\,\mathrm{d}\theta$$

۲۲۵۷۹ مثال ۱۴.۱۰: دائرہ $r = 1$ کے باہر اور قلب نما $r = 1 + \cos\theta$ کے اندر خطہ میں $f(r,\theta)$ کے تکمل کی حدیں تلاش کریں۔

۲۲۵۸۰ حل:

۲۲۵۸۱ ۱. خاکہ: ہم خطے کا خاکہ بنا کر سرحدی منحنیات پر نام و نشان لکھتے ہیں (شکل ۱۴.۲۶)۔

۲۲۵۸۲ ۲. تکمل کی r حدیں: مبدا سے نکلتی ہوئی علامتی شعاع خطہ R میں $r = 1$ کے مقام پر داخل اور $r = 1 + \cos\theta$ کے مقام پر خارج ہو
۲۲۵۸۳ گی۔

۲۲۵۸۴ ۳. تکمل کی θ حدیں: مبدا سے نکلتی ہوئی وہ شعاعیں جو R سے گزرتی ہوں، $\theta = -\frac{\pi}{2}$ تا $\theta = \frac{\pi}{2}$ میں پائی جاتی ہیں۔

۲۲۵۸۵ یوں تکمل درج ذیل ہو گا۔

$$\int_{-\pi/2}^{\pi/2} \int_{1}^{1+\cos\theta} f(r,\theta) r\,\mathrm{d}r\,\mathrm{d}\theta$$

۲۲۵۸۶ □

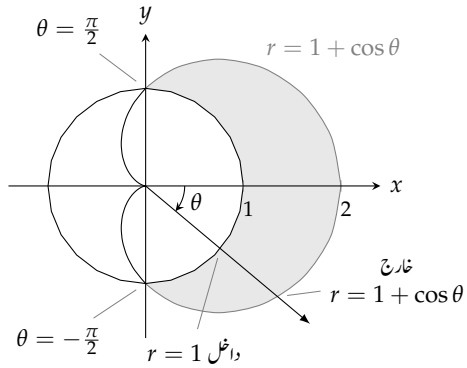

شکل ۱۴.۲۶: دائرہ اور قلب نما (مثال ۱۴.۱۰)

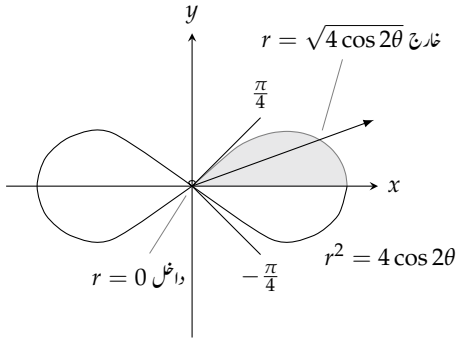

شکل ۱۴.۲۷: تکمل کی قیمت کے حصول میں ہم r کو 0 تا $\sqrt{4\cos 2\theta}$ جبکہ θ کو 0 تا $\frac{\pi}{4}$ لیتے ہیں۔

۲۲۵۸۷ اگر $f(r,\theta)$ ایک مستقل تفاعل ہو جس کی قیمت 1 ہو تب R پر f کا تکمل R کا رقبہ ہو گا۔

۲۲۵۸۸ قطبی محدد میں رقبہ

۲۲۵۸۹ قطبی محددی مستوی میں بند اور محدود خطہ R کا رقبہ درج ذیل ہو گا۔

$$S = \iint\limits_R r\,\mathrm{d}r\,\mathrm{d}\theta \tag{۵}$$

۲۲۵۹۰ جیسا آپ توقع کرتے ہوں گے یہ کلیہ، پہلے دیے گئے کلیات کے عین مطابق ہے۔ ہم اس حقیقت کا ثبوت پیش نہیں کریں گے۔

۲۲۵۹۱ مثال ۱۴.۱۱: دو چشمہ $r^2 = 4\cos 2\theta$ میں گھیرا ہوا رقبہ تلاش کریں۔

۲۲۵۹۲ حل: ہم دو چشمہ کا خاکہ بنا کر تکمل کی حدیں معلوم کرتے ہیں (شکل ۱۴.۲۷)۔ ہم دیکھتے ہیں کہ ربع اول میں دو چشمہ کے رقبہ کو 4 سے ضرب دے کر پورا
۲۲۵۹۳ رقبہ حاصل کیا جا سکتا ہے۔

$$\begin{aligned} S &= 4\int_0^{\pi/4}\int_0^{\sqrt{4\cos 2\theta}} r\,\mathrm{d}r\,\mathrm{d}\theta = 4\int_0^{\pi/4}\left[\frac{r^2}{2}\right]_{r=0}^{r=\sqrt{4\cos 2\theta}}\mathrm{d}\theta \\ &= 4\int_0^{\pi/4} 2\cos 2\theta\,\mathrm{d}\theta = 4\sin 2\theta\Big]_0^{\pi/4} = 4 \end{aligned}$$

۲۲۵۹۴ □

۲۲۵۹۵ کارتیسی تکملات کی قطبی تکملات میں تبدیلی

۲۲۵۹۶ کارتیسی تکمل $\iint_R f(x,y)\,\mathrm{d}x\,\mathrm{d}y$ کو قطبی تکمل میں دو قدموں میں تبدیل کیا جاتا ہے:

۲۲۵۹۷ ۱. کارتیسی تکمل میں $x = r\cos\theta$ اور $y = r\sin\theta$ پر کرتے ہوئے $\mathrm{d}x\,\mathrm{d}y$ کی جگہ $r\,\mathrm{d}r\,\mathrm{d}\theta$ لکھیں۔

۲۲۵۹۸ ۲. خطہ R کی سرحد کی قطبی حدیں مہیا کریں۔

۲۲۵۹۹ یوں کارتیسی تکمل سے درج ذیل حاصل ہوگا جہاں تکمل کے خطہ کو قطبی محدد میں G سے ظاہر کیا گیا ہے۔

$$\iint\limits_R f(x,y)\,\mathrm{d}x\,\mathrm{d}y = \iint\limits_G f(r\cos\theta, r\sin\theta) r\,\mathrm{d}r\,\mathrm{d}\theta \tag{۶}$$

۲۲۶۰۰ یہ باب ۵ میں ترکیب بدل کی طرح ہے البتہ یہاں ایک کے بجائے دو متغیرات ہیں۔ دھیان رہے کہ $\mathrm{d}x\,\mathrm{d}y$ کی جگہ $\mathrm{d}r\,\mathrm{d}\theta$ نہیں بلکہ $r\,\mathrm{d}r\,\mathrm{d}\theta$ پر
۲۲۶۰۱ کیا جاتا ہے۔ اس کی وجہ حصہ ۱۴.۷ پیش کی جائے گی۔

۲۲۶۰۲ مثال ۱۴.۱۲: ربع اول میں دائرہ $x^2 + y^2 = 1$ کی ایک چوتھائی میں کثافت $\delta(x,y) = 1$ کی باریک چادر کی مبدا کے لحاظ سے قطبی معیار
۲۲۶۰۳ اثر تلاش کریں۔

۲۲۶۰۴ حل: ہم چادر کا خاکہ بنا کر تکمل کی حدیں معلوم کرتے ہیں (شکل ۱۴.۲۸)۔ کارتیسی محدد میں اس خطہ کا قطبی معیار اثر سے مراد درج ذیل تکمل ہے۔

$$\int_0^1 \int_0^{\sqrt{1-x^2}} (x^2 + y^2)\,\mathrm{d}y\,\mathrm{d}x$$

۲۲۶۰۵ ہم y کے لحاظ سے تکمل لے کر

$$\int_0^1 (x^2\sqrt{1-x^2} + \frac{(1-x^2)^{3/2}}{3})\,\mathrm{d}x$$

۲۲۶۰۶ حاصل کرتے ہیں جس کا حل، جدول کی مدد کے بغیر، مشکل ہے۔

۲۲۶۰۷ اس تکمل کو قطبی تکمل میں تبدیل کرنے سے حالات بہتر ہوتے ہیں۔ ہم $x = r\cos\theta$ اور $y = r\sin\theta$ پر کرکے $\mathrm{d}x\,\mathrm{d}y$ کی جگہ
۲۲۶۰۸ $r\,\mathrm{d}r\,\mathrm{d}\theta$ لکھ کر

$$\begin{aligned}\int_0^1 \int_0^{\sqrt{1-x^2}} (x^2 + y^2)\,\mathrm{d}y\,\mathrm{d}x &= \int_0^{\pi/2} \int_0^1 (r^2) r\,\mathrm{d}r\,\mathrm{d}\theta \\ &= \int_0^{\pi/2} \left[\frac{r^2}{4}\right]_{r=0}^{r=1} \mathrm{d}\theta = \int_0^{\pi/2} \frac{1}{4}\,\mathrm{d}\theta = \frac{\pi}{8}\end{aligned}$$

۲۲۶۰۹ حاصل کرتے ہیں۔ قطبی محدد میں تکمل اتنا آسان کیوں ہوا۔ ایک وجہ یہ ہے کہ $x^2 + y^2$ سادہ صورت r^2 اختیار کرتا ہے۔ دوسری وجہ یہ کہ تکمل کی
۲۲۶۱۰ حدیں اب مستقل ہیں۔ □

۲۲۶۱۱ مثال ۱۴.۱۳: محور x اور منحنی $y = \sqrt{1-x^2}$ کے بیچ نصف دائری خطہ R پر درج ذیل تکمل کی قیمت تلاش کریں (شکل ۱۴.۲۹)۔

$$\iint\limits_R e^{x^2+y^2}\,\mathrm{d}y\,\mathrm{d}x$$

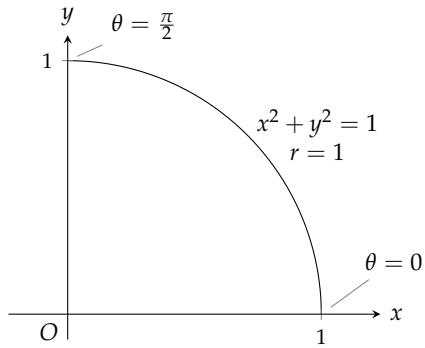

شکل ۱۴.۲۸: قطبی محدد میں یہ خطہ $0 \le r \le 1$ ، $0 \le \theta \le \frac{\pi}{2}$ ہے۔

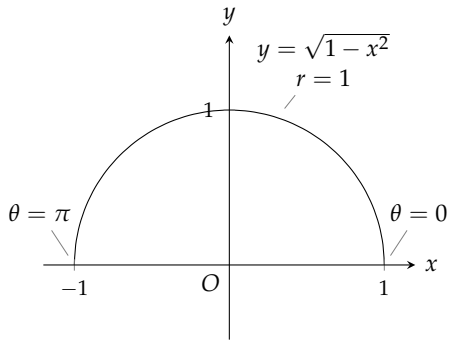

شکل ۱۴.۲۹: نصف دائری خطہ $0 \le r \le 1$ ، $0 \le \theta \le \pi$ ہے۔

۲۲۶۱۲ حل: کارتیسی محدد میں یہ تکمل غیر بنیادی ہے اور $e^{x^2+y^2}$ کا x یا y کے لحاظ سے تکمل، سیدھا طریقے سے، حاصل نہیں کیا جا سکتا ہے۔ اس
۲۲۶۱۳ کے باوجود یہ تکمل اور اس طرح کے دیگر تکملات ریاضیات میں اہمیت رکھتے ہیں اور ان کا حل ضروری ہے۔ قطبی محدد یہاں مددگار ثابت ہوتے ہیں۔ ہم
۲۲۶۱۴ $x = r\cos\theta$ اور $y = r\sin\theta$ پر کر کے $\mathrm{d}y\,\mathrm{d}x$ کی جگہ $r\,\mathrm{d}r\,\mathrm{d}\theta$ لکھ کر تکمل کی قیمت حاصل کرتے ہیں:

$$\iint\limits_R e^{x^2+y^2}\,\mathrm{d}y\,\mathrm{d}x = \int_0^\pi \int_0^1 e^{r^2} r\,\mathrm{d}r\,\mathrm{d}\theta = \int_0^\pi \left[\frac{1}{2}e^{r^2}\right]_0^1 \mathrm{d}\theta$$
$$= \int_0^\pi \frac{1}{2}(e-1)\,\mathrm{d}\theta = \frac{\pi}{2}(e-1)$$

۲۲۶۱۵ آپ نے دیکھا کہ e^{r^2} کے تکمل میں ہمیں $r\,\mathrm{d}r\,\mathrm{d}\theta$ کا r درکار تھا جس کے بغیر ہم تکمل حاصل نہیں کر سکتے تھے۔ □

۲۲۶۱۶ **سوالات**

۲۲۶۱۷ **قطبی تکملات کی قیمت کی تلاش**

۲۲۶۱۸ سوال ۱۴.۱۲۷ تا سوال ۱۴.۱۴۲ میں دیے گئے تکملات کو قطبی روپ میں تبدیل کر کے حل کریں۔

۲۲۶۱۹ سوال ۱۴.۱۲۷: $\int_{-1}^{1}\int_0^{\sqrt{1-x^2}} \mathrm{d}y\,\mathrm{d}x$

۲۲۶۲۰ سوال ۱۴.۱۲۸: $\int_{-1}^{1}\int_{-\sqrt{1-x^2}}^{\sqrt{1-x^2}} \mathrm{d}y\,\mathrm{d}x$

۲۲۶۲۱ سوال ۱۴.۱۲۹: $\int_0^1\int_0^{\sqrt{1-y^2}} (x^2+y^2)\,\mathrm{d}x\,\mathrm{d}y$

۲۲۲۲ سوال ۱۴.۱۳۰: $\int_{-1}^{1}\int_{-\sqrt{1-y^2}}^{\sqrt{1-y^2}}(x^2+y^2)\,\mathrm{d}x\,\mathrm{d}y$

۲۲۲۳ سوال ۱۴.۱۳۱: $\int_{-a}^{a}\int_{-\sqrt{a^2-x^2}}^{\sqrt{a^2-x^2}}\mathrm{d}y\,\mathrm{d}x$

۲۲۲۴ سوال ۱۴.۱۳۲: $\int_{0}^{2}\int_{0}^{\sqrt{4-y^2}}(x^2+y^2)\,\mathrm{d}x\,\mathrm{d}y$

۲۲۲۵ سوال ۱۴.۱۳۳: $\int_{0}^{6}\int_{0}^{y}x\,\mathrm{d}x\,\mathrm{d}y$

۲۲۲۶ سوال ۱۴.۱۳۴: $\int_{0}^{2}\int_{0}^{x}y\,\mathrm{d}y\,\mathrm{d}x$

۲۲۲۷ سوال ۱۴.۱۳۵: $\int_{-1}^{0}\int_{-\sqrt{1-x^2}}^{0}\frac{2}{1+\sqrt{x^2+y^2}}\,\mathrm{d}y\,\mathrm{d}x$

۲۲۲۸ سوال ۱۴.۱۳۶: $\int_{-1}^{1}\int_{-\sqrt{1-y^2}}^{0}\frac{4\sqrt{x^2+y^2}}{1+x^2+y^2}\,\mathrm{d}x\,\mathrm{d}y$

۲۲۲۹ سوال ۱۴.۱۳۷: $\int_{0}^{\ln 2}\int_{0}^{\sqrt{(\ln 2)^2-y^2}}e^{\sqrt{x^2+y^2}}\,\mathrm{d}x\,\mathrm{d}y$

۲۲۳۰ سوال ۱۴.۱۳۸: $\int_{0}^{1}\int_{0}^{\sqrt{1-x^2}}e^{-(x^2+y^2)}\,\mathrm{d}y\,\mathrm{d}x$

۲۲۳۱ سوال ۱۴.۱۳۹: $\int_{0}^{2}\int_{0}^{\sqrt{1-(x-1)^2}}\frac{x+y}{x^2+y^2}\,\mathrm{d}y\,\mathrm{d}x$

۲۲۳۲ سوال ۱۴.۱۴۰: $\int_{0}^{2}\int_{-\sqrt{1-(y-1)^2}}^{0}xy^2\,\mathrm{d}x\,\mathrm{d}y$

۲۲۳۳ سوال ۱۴.۱۴۱: $\int_{-1}^{1}\int_{-\sqrt{1-y^2}}^{\sqrt{1-y^2}}\ln(x^2+y^2+1)\,\mathrm{d}x\,\mathrm{d}y$

۲۲۳۴ سوال ۱۴.۱۴۲: $\int_{-1}^{1}\int_{-\sqrt{1-x^2}}^{\sqrt{1-x^2}}\frac{2}{(1+x^2+y^2)^2}\,\mathrm{d}y\,\mathrm{d}x$

۲۲۳۵

۲۲۳۶ قطبی محدد میں رقبات کی تلاش

۲۲۳۷ سوال ۱۴.۱۴۳: ربع اول سے منحنی $r=2(2-\sin 2\theta)^{1/2}$ جس خطہ کو کاٹتی ہے، اس کا رقبہ تلاش کریں۔

۲۲۳۸ سوال ۱۴.۱۴۴: قلب نما $r=1+\cos\theta$ کے اندر اور دائرہ $r=1$ کے باہر خطہ کا رقبہ تلاش کریں۔

۲۲۳۹ سوال ۱۴.۱۴۵: گلاب $r=12\cos 3\theta$ کے ایک پتے کا رقبہ تلاش کریں۔

۲۲۴۰ سوال ۱۴.۱۴۶: مثبت محور x اور پیچ دار $r=\frac{4\theta}{3},\ 0\le\theta\le 2\pi$ کے بیچ رقبہ تلاش کریں۔ اس خطہ کی صورت گھونگا کے خول سے ملتی جلتی
۲۲۴۱ ہے۔

۲۲۴۲ سوال ۱۴.۱۴۷: ربع اول میں قلب نما $r=1+\sin\theta$ جس خطہ کو کاٹتا ہے، اس کا رقبہ تلاش کریں۔

۲۲۴۳ سوال ۱۴.۱۴۸: قلب نما $r=1+\cos\theta$ اور $r=1-\cos\theta$ کے مشترکہ خطہ کا رقبہ تلاش کریں۔

کمیت اور معیار اثر

سوال ۱۴.۱۴۹: مستقل کثافت $\delta(x,y) = 3$ کی باریک چادر جس کی زیریں سرحد محور x اور بالائی سرحد قلب نما $r = 1 - \cos\theta$ ہے، کا محور x کے لحاظ سے معیار اثر اول تلاش کریں۔

سوال ۱۴.۱۵۰: دائرہ $x^2 + y^2 = a^2$ کے اندر باریک دائرہ قرص کی کثافت $\delta(x,y) = k(x^2 + y^2)$ ہے جہاں k ایک مستقل ہے۔ اس قرص کے محور x کے لحاظ سے جمودی معیار اثر اور مبدا کے لحاظ سے قطبی معیار اثر تلاش کریں۔

سوال ۱۴.۱۵۱: دائرہ $r = 3$ کے باہر اور دائرہ $r = 6\sin\theta$ کے اندر چادر کی کثافت $\delta(r,\theta) = \frac{1}{r}$ ہے۔ اس چادر کی کمیت تلاش کریں۔

سوال ۱۴.۱۵۲: قلب نما $r = 1 - \cos\theta$ کے اندر اور دائرہ $r = 1$ کے باہر باریک چادر کی کثافت $\delta(r,\theta) = \frac{1}{r^2}$ ہے۔ مبدا کے لحاظ سے اس چادر کی قطبی معیار اثر تلاش کریں۔

سوال ۱۴.۱۵۳: قلب نما $r = 1 + \cos\theta$ کا وسطانی مرکز تلاش کریں۔

سوال ۱۴.۱۵۴: قلب نما $r = 1 + \cos\theta$ کے اندر باریک چادر کی کثافت $\delta(x,y) = 1$ ہے۔ مبدا کے لحاظ سے اس چادر کی قطبی معیار اثر تلاش کریں۔

اوسط قیمتیں

سوال ۱۴.۱۵۵: مستوی xy میں قرص $x^2 + y^2 \le a^2$ کے اوپر نصف کرہ $z = \sqrt{a^2 - x^2 - y^2}$ کا اوسط قد تلاش کریں۔

سوال ۱۴.۱۵۶: مستوی xy میں قرص $x^2 + y^2 \le a^2$ کے اوپر (ایک) مخروط $z = \sqrt{x^2 + y^2}$ کا اوسط قد تلاش کریں۔

سوال ۱۴.۱۵۷: قرص $x^2 + y^2 \le a^2$ میں مبدا سے نقطہ $N(x,y)$ کا اوسط فاصلہ تلاش کریں۔

سوال ۱۴.۱۵۸: قرص $x^2 + y^2 \le a$ میں نقطہ $N(x,y)$ کا سرحدی نقطہ $A(1,0)$ سے فاصلے کے مربع کی اوسط قیمت تلاش کریں۔

نظریہ اور مثالیں

سوال ۱۴.۱۵۹: خطہ $1 \le x^2 + y^2 \le e$ پر $f(x,y) = \frac{\ln(x^2+y^2)}{\sqrt{x^2+y^2}}$ کے تکمل کی قیمت دریافت کریں۔

سوال ۱۴.۱۶۰: خطہ $1 \le x^2 + y^2 \le e^2$ پر $f(x,y) = \frac{\ln(x^2+y^2)}{x^2+y^2}$ کا تکمل حل کریں۔

سوال ۱۴.۱۶۱: قلب نما $r = 1 + \cos\theta$ کے اندر اور دائرہ $r = 1$ کے باہر خطہ ٹھوس قائمہ بیلن کا قاعدہ ہے۔ اس بیلن کی چوٹی مستوی $z = x$ میں پائی جاتی ہے۔ اس بیلن کا حجم تلاش کریں۔

سوال ۱۴.۱۶۲: دو چشمہ $r^2 = 2\cos 2\theta$ کے اندر خطہ ٹھوس قائمہ بیلن کا قاعدہ ہے۔ اس بیلن کی چوٹی کرہ $z = \sqrt{2 - r^2}$ کی سطح کو مس کرتی ہے۔ اس بیلن کا حجم تلاش کریں۔

۲۲۶۷۰ سوال ۱۴.۱۶۳: (ا) غیر مناسب تکمل $I = \int_0^\infty e^{-x^2}\,\mathrm{d}x$ کے حل کا درست طریقہ یہ ہے کہ پہلے اس کا مربع لیں:

$$I^2 = \left(\int_0^\infty e^{-x^2}\,\mathrm{d}x\right)\left(\int_0^\infty e^{-y^2}\,\mathrm{d}y\right) = \int_0^\infty \int_0^\infty e^{-(x^2+y^2)}\,\mathrm{d}x\,\mathrm{d}y$$

۲۲۶۷۱ اس تکمل کو قطبی روپ میں لکھ کر حل کریں۔ (ب) درج ذیل تکمل کی قیمت تلاش کریں۔ (حصہ ۸.۶ کا سوال ۸.۴۵۳ جاری)۔

$$\lim_{x\to\infty} \operatorname{erf}(x) = \lim_{x\to\infty} \int_0^x \frac{2e^{-t^2}}{\sqrt{\pi}}\,\mathrm{d}t$$

۲۲۶۷۲ سوال ۱۴.۱۶۴: درج ذیل تکمل کی قیمت تلاش کریں۔

$$\int_0^\infty \int_0^\infty \frac{1}{(1+x^2+y^2)^2}\,\mathrm{d}x\,\mathrm{d}y$$

۲۲۶۷۳ سوال ۱۴.۱۶۵: قرص $x^2 + y^2 \leq \frac{3}{4}$ پر تفاعل $f(x,y) = 1/(1-x^2-y^2)$ کا تکمل حل کریں۔ کیا قرص $x^2 + y^2 \leq 1$
۲۲۶۷۴ پر $f(x,y)$ کا تکمل موجود ہے؟ اپنے جواب کی وجہ پیش کریں۔

۲۲۶۷۵ سوال ۱۴.۱۶۶: قطبی محدد میں دوہرا تکمل استعمال کرتے ہوئے قطبی منحنی $r = f(\theta),\ \alpha \leq \theta \leq \beta$ اور مبدا کے بیچ پنکھا نما خطہ کے رقبہ کا
۲۲۶۷۶ درج ذیل کلیہ اخذ کریں۔

$$S = \int_\alpha^\beta \frac{1}{2} r^2\,\mathrm{d}\theta$$

۲۲۶۷۷ سوال ۱۴.۱۶۷: رداس a کے دائرہ میں N_0 ایک نقطہ ہے اور N_0 سے دائرہ کے مرکز تک فاصلہ h ہے۔ کسی بھی اختیاری نقطہ N سے N_0
۲۲۶۷۸ تک فاصلہ کو d سے ظاہر کریں۔ دائرہ میں محیط خطہ پر d^2 کی اوسط قیمت تلاش کریں۔ (اشارہ: دائرے کے مرکز کو مبدا پر اور N_0 کو محور x پر رکھ کر
۲۲۶۷۹ اپنے لئے آسانی پیدا کریں۔)

۲۲۶۸۰ سوال ۱۴.۱۶۸: فرض کریں ایک قطبی خطے کا رقبہ درج ذیل ہے۔

$$S = \int_{\pi/4}^{3\pi/4} \int_{\csc\theta}^{2\sin\theta} r\,\mathrm{d}r\,\mathrm{d}\theta$$

۲۲۶۸۱ (ا) اس تکمل کے خطہ کا خاکہ بنائیں۔ (ب) پاپس کے ایک مسئلہ اور حصہ ۶.۱۰ میں سوال ۶.۳۵۰ میں وسطانی مرکز کی معلومات استعمال کرتے ہوئے اس خطہ کو
۲۲۶۸۲ محور x کے گرد گھمانے سے حاصل ٹھوس جسم طواف کا حجم تلاش کریں۔

۲۲۶۸۳ کمپیوٹر کا استعمال

۲۲۶۸۴ سوال ۱۴.۱۶۹ تا سوال ۱۴.۱۷۲ میں کمپیوٹر استعمال کرتے ہوئے کارتیسی تکملات کو قطبی تکملات میں تبدیل کر کے ان قطبی تکملات کی قیمتیں تلاش کریں۔ آپ
۲۲۶۸۵ کو درج ذیل اقدام کرنے ہوں گے۔

ا. کارتیسی تکمل کے خطہ کا خاکہ مستوی xy پر بنائیں۔

ب. جزو-ا میں خطہ کی ہر سرحد کی کارتیسی مساوات کو r اور θ کے لئے حل کرتے ان کی قطبی مساوات تلاش کریں۔

ج. جزو-ب کے نتائج استعمال کرتے ہوئے تکمل کے خطہ کے خاکہ کو قطبی $r\theta$ مستوی میں بنائیں۔

د. متکمل کو کارتیسی سے قطبی روپ میں تبدیل کریں۔ جزو-ج کے خاکہ سے تکمل کی حدیں معلوم کر کے قطبی تکمل کی قیمت کمپیوٹر کی مدد سے حاصل کریں۔

سوال ۱۴.۱۶۹: $\int_0^1 \int_x^1 \frac{y}{x^2+y^2}\,\mathrm{d}y\,\mathrm{d}x$

سوال ۱۴.۱۷۰: $\int_0^1 \int_0^{x/2} \frac{x}{x^2+y^2}\,\mathrm{d}y\,\mathrm{d}x$

سوال ۱۴.۱۷۱: $\int_0^1 \int_{-y/3}^{y/3} \frac{y}{\sqrt{x^2+y^2}}\,\mathrm{d}x\,\mathrm{d}y$

سوال ۱۴.۱۷۲: $\int_0^1 \int_y^{2-y} \sqrt{x+y}\,\mathrm{d}x\,\mathrm{d}y$

۱۴.۴ کارتیسی محدد میں تہرا تکمل

ہم تہرا تکملات کی مدد سے تین بعدی اجسام کے حجم، کمیت اور معیار اثر اور تین متغیری تفاعل کی اوسط قیمت معلوم کرتے ہیں۔ باب ۱۵ میں ہم دیکھیں گے کہ سمتی میدان اور حرکت سیال کے مطالعہ میں ہمیں ان تکملات سے کیسا واسطہ پڑتا ہے۔

تہرا تکمل

فرض کریں فضا میں بند محدود خطہ D پر تفاعل $F(x,y,z)$ معین ہے، تب D پر تکمل F کی تعریف کچھ یوں ہو گی۔ ہم ایک مستطیل خطہ جس میں D پایا جاتا ہو کو محددی مستویات کے متوازی مستویات سے مستطیل خانوں میں تقسیم کرتے ہیں (شکل ۱۴.۳۰-ا)۔ ہم D کے اندر پائے جانے والے خانوں کو (کسی بھی ترتیب سے) 1 تا n کی شمار سے ظاہر کرتے ہیں۔ یوں ایک علامتی مستطیل خانے کے اضلاع Δx_k ، Δy_k اور Δz_k جبکہ اس کا حجم ΔH_h ہو گا (شکل ۱۴.۳۰-ب)۔ ہم ہر مستطیل خانے میں کوئی نقطہ (x_k, y_k, z_k) منتخب کر کے درج ذیل مجموعہ لیتے ہیں۔

$$J_n = \sum_{k=1}^{n} F(x_k, y_k, z_k)\Delta H_k \tag{۱}$$

اگر F استمراری ہو اور D کی تحدیدی سطح ہموار سطحوں پر مشتمل ہو جو ایک دوسرے کے ساتھ استمراری منحنیات میں جڑتے ہوں، تب جوں جوں Δx_k ، Δy_k اور Δz_k صفر کے قریب پہنچتے ہوں توں توں مجموعات J_n ایک حد تک پہنچتے ہیں:

$$\lim_{n\to\infty} J_n = \iiint_D F(x,y,z)\,\mathrm{d}H \tag{۲}$$

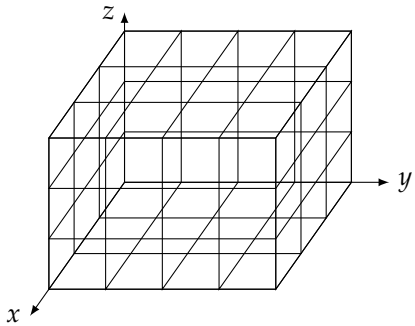

(ا)ایک حجم جس میں D پایا جاتا ہے کو محددی مستویات کے متوازی سطحوں سے مستطیل مکعب خلیوں میں تقسیم کیا جاتا ہے۔

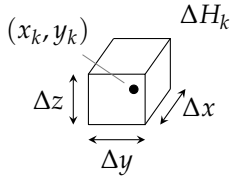

(ب)ایک مستطیل مکعب خلیہ کا حجم۔

شکل ۱۴.۳۰: ٹھوس جسم کو ΔH_k حجم کے مستطیل خانوں میں تقسیم کیا جاتا ہے۔

۲۲۷۰۶ ہم اس حد کو D پر F کا **تہرا تکمل**[۱۳] کہتے ہیں۔ یہ حد چند غیر استمراری تفاعل کے لئے بھی موجود ہے۔

۲۲۷۰۷ **تہرا تکملات کے خواص**

۲۲۷۰۸ تہرا تکملات کے خواص وہی ہیں جو واحد تکملات اور دوہرا تکملات کے ہیں۔ اگر $F = F(x, y, z)$ اور $G = G(x, y, z)$ استمراری ہوں، تب

۲۲۷۰۹ ۱. $\iiint\limits_D kF\,\mathrm{d}H = k\iiint\limits_D F\,\mathrm{d}H$ (k کوئی عدد ہے)

۲۲۷۱۰ ۲. $\iiint\limits_D (F \mp G)\,\mathrm{d}H = \iiint\limits_D F\,\mathrm{d}H \mp \iiint\limits_D G\,\mathrm{d}H$

۲۲۷۱۱ ۳. اگر D پر $F \geq 0$ تب $\iiint\limits_D F\,\mathrm{d}H \geq 0$

۲۲۷۱۲ ۴. اگر D پر $F \geq D$ ہو تب $\iiint\limits_D F\,\mathrm{d}H \geq \iiint\limits_D G\,\mathrm{d}H$

۲۲۷۱۳ ۵. تہرا تکملات مجموعیت کی خاصیت بھی رکھتے ہیں جو طبیعیات، انجینئری اور ریاضیات کے میدان میں کام آتی ہے۔ اگر استمراری تفاعل F کے دائرہ کار D

۲۲۷۱۴ کو ہموار سطحوں سے متناہی تعداد کے علیحدہ علیحدہ ٹکڑوں D_1 ، D_2 ، $\cdots$ ، D_n میں تقسیم کیا جائے تب درج ذیل ہو گا۔

۲۲۷۱۵
$$\iiint\limits_D F\,\mathrm{d}H = \iiint\limits_{D_1} F\,\mathrm{d}H + \iiint\limits_{D_2} F\,\mathrm{d}H + \cdots + \iiint\limits_{D_n} F\,\mathrm{d}H$$

---

[۱۳] tripleintegral

فضا میں خطے کا حجم

اگر F ایک مستقل تفاعل ہو جس کی قیمت 1 ہو تب مساوات ۱ کے تہرا مجموعہ کی تخفیف صورت درج ذیل ہو گی۔

$$J_n = \sum F(x_k, y_k, z_k)\Delta H_k = \sum 1 \cdot \Delta H_k = \sum \Delta H_k \tag{۳}$$

جوں جوں Δx_k ، Δy_k اور Δz_k صفر تک پہنچتے ہیں توں توں ΔH_k جسامت میں چھوٹے اور تعداد میں زیادہ ہوتے جاتے ہیں اور D کے زیادہ حصہ کو بھرتے ہیں۔ اسی لئے ہم D کے حجم کی تعریف درج ذیل لیتے ہیں۔

$$\lim_{n\to\infty} \sum_{k=1}^{n} \Delta H_k = \iiint\limits_D \mathrm{d}H$$

تعریف: فضا میں بند محدود خطہ D کا **حجم**[۱۴] درج ذیل ہو گا۔

$$H = \iiint\limits_D \mathrm{d}H \tag{۴}$$

□

جیسا ہم جلد دیکھیں گے، قوسی سطحوں میں ملفوف ٹھوس اجسام کا حجم اس تکمل سے حاصل کیا جاتا ہے۔

تہرا تکمل کی قیمت کا حصول

ہم تہرا تکمل کی تعریف سے اس کی قیمت شاذ و نادر حاصل کرتے ہیں۔ اس کے بجائے ہم مسئلہ فوبینی کی تین بعدی روپ استعمال کرتے ہوئے تین بار ایک گنّا تکملات سے اس کی قیمت معلوم کرتے ہیں۔ دہرا تکمل کی طرح، تکمل کی حدیں معلوم کرنے کا جیومیٹریائی طریقہ کار پایا جاتا ہے۔

تہرا تکملات کی حدوں کی تلاش

دائرہ کار D پر درج ذیل تکمل میں پہلے z ، اس کے بعد y اور آخر میں x کے لحاظ سے تکمل لیتے ہوئے درج ذیل اقدام کرنے ہوں گے۔

$$\iiint\limits_D F(x, y, z)\,\mathrm{d}H$$

۱. خاکہ: خطہ D کا خاکہ بنائیں اور مستوی xy پر اس کا انتصابی سایہ R دکھائیں۔ خطہ D کی بالائی اور زیریں تحدیدی سطحوں کی نشاندہی کریں اور R کی بالائی اور زیریں تحدیدی منحنیات کی نشاندہی کریں (شکل ۱۴.۳۱-۱)۔

---

[۱۴] volume

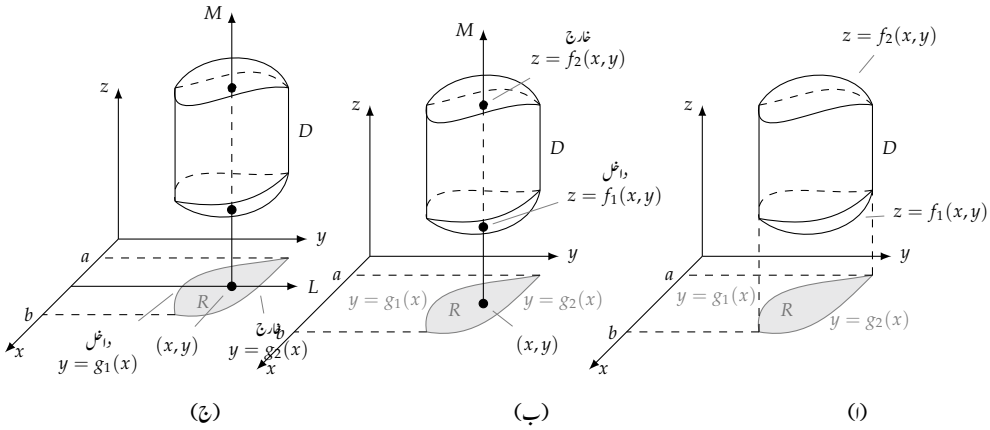

شکل ۱۴.۳۱: تہرا تکملات کی حدوں کی تلاش۔

۲. تکمل کی z حدیں: خطہ R میں علامتی نقطہ (x,y) سے z محور کے متوازی لکیر M کھینچیں۔ بڑھتے z رک چلتے ہوئے، یہ لکیر $z = f_1(x,y)$ پر D میں داخل ہو گی اور $z = f_2(x,y)$ پر D سے خارج ہو گی۔ یہی تکمل کی z حدیں ہیں (شکل ۱۴.۳۱-ب)۔

۳. تکمل کی y حدیں: نقطہ (x,y) سے گزرتی ہوئی y محور کے متوازی لکیر L کھینچیں۔ بڑھتے y رخ چلتے ہوئے یہ لکیر R میں $y = g_1(x)$ پر داخل اور $y = g_2(x)$ پر خارج ہو گی۔ یہی تکمل کی y حدیں ہیں (شکل ۱۴.۳۱-ج)۔

۴. تکمل کی x حدیں: وہ x حدیں منتخب کریں جس میں محور y کے متوازی، R سے گزرتی ہوئی تمام لکیریں L شامل ہوں۔ ہماری مثال میں یہ حدیں $x = a$ اور $x = b$ ہیں۔

یوں تکمل درج ذیل ہو گا۔

$$\int_{x=a}^{x=b} \int_{y=g_1(x)}^{y=g_2(x)} \int_{z=f_1(x,y)}^{z=f_2(x,y)} F(x,y,z)\,\mathrm{d}z\,\mathrm{d}y\,\mathrm{d}x$$

تکملات کی ترتیب تبدیل کرنے کی صورت میں اسی طرح کی طریقہ کار سے تکملات کی حدیں تلاش کریں۔ بارہا تکمل میں آخری دو متغیرات، جن کے لحاظ سے تکمل لیا گیا ہو، کے مستوی میں D کا سایہ درکار ہو گا۔

مثال ۱۴.۱۴: خطہ D سطح $z = x^2 + 3y^2$ اور سطح $z = 8 - x^2 - y^2$ میں ملفوف ہے۔ اس کا حجم تلاش کریں۔

حل: ہم $F(x,y,z) = 1$ لیتے ہوئے حجم کے لئے درج ذیل تکمل لکھتے ہیں۔

$$H = \iiint_D \mathrm{d}z\,\mathrm{d}y\,\mathrm{d}x$$

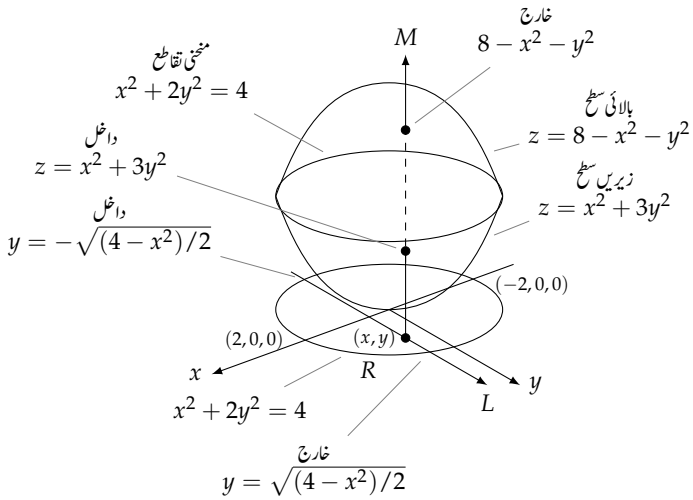

شکل ۱۴.۳۲: دو سطحوں کے بیچ حجم (مثال ۱۴.۱۴)

۲۲۷۳۲ ہم تکمل کی حدیں درج ذیل اقدام سے معلوم کرتے ہیں۔

۲۲۷۳۳ ۱. خاکہ: یہ سطحیں ایک دوسرے کو قطع مکافی $x^2 + 3y^2 = 8 - x^2 - y^2$ یعنی $x^2 + 2y^2 = 4$ میں قطع کرتی ہیں (شکل
۲۲۷۳۴ ۱۴.۳۲)۔ مستوی xy میں D کے سایہ R کی سرحد کی مساوات یہی ($x^2 + 2y^2 = 4$) ہوگی۔ خطہ R کی بالائی سرحد منحنی $y =$
۲۲۷۳۵ $\sqrt{(4 - x^2)/2}$ اور اس کی زیریں سرحد منحنی $y = -\sqrt{(4 - x^2)/2}$ ہوگی۔

۲۲۷۳۶ ۲. تکمل کی z حدیں: خطہ R میں علامتی نقطہ (x, y) سے گزرتی ہوئی محور z کی متوازی لکیر M خطہ D میں $z = x^2 + 3y^2$ پر
۲۲۷۳۷ داخل اور $z = 8 - x^2 - y^2$ پر خارج ہوتی ہے۔

۲۲۷۳۸ ۳. تکمل کی y حدیں: نقطہ (x, y) سے گزرتی ہوئی محور y کی متوازی لکیر L خطہ R میں $y = -\sqrt{(4 - x^2)/2}$ پر داخل اور
۲۲۷۳۹ $y = \sqrt{(4 - x^2)/2}$ پر خارج ہوتی ہے۔

۲۲۷۵۰ ۴. تکمل کی x حدیں: محور y کی متوازی لکیریں L خطہ R میں $x = -2$ (نقطہ (-2,0,0)) سے $x = 2$ (نقطہ (2,0,0)) تک
۲۲۷۵۱ گزرتی ہیں۔

۲۲۷۵۲ یوں حجم درج ذیل ہو گا۔

$$
\begin{aligned}
H &= \iiint\limits_D \mathrm{d}z\,\mathrm{d}y\,\mathrm{d}x \\
&= \int_{-2}^{2}\int_{-\sqrt{(4-x^2)/2}}^{\sqrt{(4-x^2)/2}}\int_{x^2+3y^2}^{8-x^2-y^2} \mathrm{d}z\,\mathrm{d}y\,\mathrm{d}x \\
&= \int_{-2}^{2}\int_{-\sqrt{(4-x^2)/2}}^{\sqrt{(4-x^2)/2}} (8-2x^2-4y^2)\,\mathrm{d}y\,\mathrm{d}x \\
&= \int_{-2}^{2}\left[(8-2x^2)y-\frac{4}{3}y^3\right]_{y=-\sqrt{(4-x^2)/2}}^{y=\sqrt{(4-x^2)/2}}\mathrm{d}x \\
&= \int_{-2}^{2}\left(2(8-2x^2)]\sqrt{\frac{4-x^2}{2}}-\frac{8}{3}\left(\frac{4-x^2}{2}\right)^{3/2}\right)\mathrm{d}x \\
&= \int_{-2}^{2}\left[8\left(\frac{4-x^2}{2}\right)^{3/2}-\frac{8}{3}\left(\frac{4-x^2}{2}\right)^{3/2}\right]\mathrm{d}x \\
&= \frac{4\sqrt{2}}{3}\int_{-2}^{2}(4-x^2)^{3/2}\,\mathrm{d}x \\
&= 8\pi\sqrt{2} && x=2\sin u \text{ پر کر کے تکمل لیا گیا ہے}
\end{aligned}
$$

۲۲۷۵۳ □

۲۲۷۵۴ اگلی مثال میں ہم مستوی xy کے بجائے مستوی xz میں D کا سایہ لیتے ہیں۔

۲۲۷۵۵ مثال ۱۴.۱۵: چوسطحہ D کے راس $(0,0,0)$ ، $(1,1,0)$ ، $(0,1,0)$ اور $(0,1,1)$ ہیں۔ تفاعل $F(x,y,z)$ کے تہرا تکمل
۲۲۷۵۶ کی حدیں معلوم کریں۔

۲۲۷۵۷ حل:

۲۲۷۵۸ ۱. خطہ: ہم D اور مستوی xz میں اس کے سایہ R کا خاکہ بناتے ہیں (شکل ۱۴.۳۳)۔ خطہ D کی بالائی (دائیں ہاتھ) تحدیدی سطح مستوی
۲۲۷۵۹ $y = 1$ میں پائی جاتی ہے۔ اس کی زیریں (بائیں ہاتھ) تحدیدی سطح مستوی $y = x+z$ میں پائی جاتی ہے۔ خطہ R کی بالائی سرحد لکیر
۲۲۷۶۰ $z = 1-x$ اور زیریں سرحد لکیر $z=0$ ہیں۔

۲۲۷۶۱ ۲. تکمل کی y حدیں: خطہ R میں علامتی نقطہ (x,y) سے گزرتی لکیر جو محور y کے متوازی ہو D میں $y = x+z$ پر داخل اور $y =$
۲۲۷۶۲ 1 پر خارج ہوتی ہے۔

۲۲۷۶۳ ۳. تکمل کی z حدیں: محور z کے متوازی نقطہ (x,y) سے گزرتی لکیر L خطہ R میں $z=0$ پر داخل اور $z = 1-x$ پر خارج ہوتی
۲۲۷۶۴ ہے۔

۲۲۷۶۵ ۴. تکمل کی x حدیں: خطہ R میں $x=0$ سے $x=1$ تک گزرتی ہیں۔

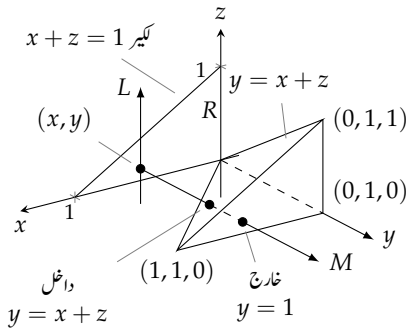

شکل ۱۴.۳۳: چوسطحہ (مثال ۱۴.۱۵)

۲۲۷۶۶ یوں تکمل درج ذیل ہو گا۔

$$\int_0^1 \int_0^{1-x} \int_{x+z}^1 F(x,y,z)\,\mathrm{d}y\,\mathrm{d}z\,\mathrm{d}x$$

۲۲۷۶۷ □

۲۲۷۶۸ جیسا ہم جانتے ہیں، دہرا تکمل کا حصول عموماً (لیکن ضروری نہیں) ایک گنا تکملات کو دو مختلف ترتیب سے حاصل کر کے حاصل کرنا ممکن ہوتا ہے۔ تہرا تکمل کے
۲۲۷۶۹ لئے اس طرح کے چھ ترتیب ممکن ہو سکتے ہیں۔

۲۲۷۷۰ مثال ۱۴.۱۶: درج ذیل چھ تکملات شکل ۱۴.۳۴ میں دکھائے گئے منشور کا حجم دیتے ہیں۔

$$\int_0^1 \int_0^{1-z} \int_0^2 \mathrm{d}x\,\mathrm{d}y\,\mathrm{d}z \qquad \int_0^1 \int_0^{1-y} \int_0^2 \mathrm{d}x\,\mathrm{d}z\,\mathrm{d}y$$

$$\int_0^1 \int_0^2 \int_0^{1-z} \mathrm{d}y\,\mathrm{d}x\,\mathrm{d}z \qquad \int_0^2 \int_0^1 \int_0^{1-z} \mathrm{d}y\,\mathrm{d}z\,\mathrm{d}x$$

$$\int_0^1 \int_0^2 \int_0^{1-y} \mathrm{d}z\,\mathrm{d}x\,\mathrm{d}y \qquad \int_0^2 \int_0^1 \int_0^{1-y} \mathrm{d}z\,\mathrm{d}y\,\mathrm{d}x$$

۲۲۷۷۱ □

۲۲۷۷۲ **فضا میں تفاعل کی اوسط قیمت**

۲۲۷۷۳ فضا میں خطہ D پر تفاعل F کی اوسط قیمت درج ذیل کلیہ دیتا ہے۔

$$D \text{ پر } F \text{ کی اوسط قیمت} = \frac{1}{D \text{ کا حجم}} \iiint_D F\,\mathrm{d}H \tag{۵}$$

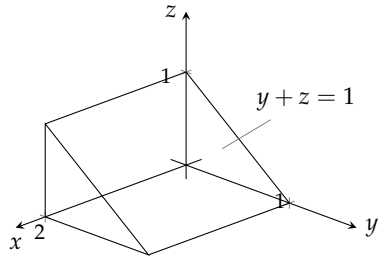

شکل ۱۴.۳۴: منشور کے حجم کی چھ بارہا تہرا تکملات مثال ۱۴.۱۶ میں دیے گئے ہیں۔

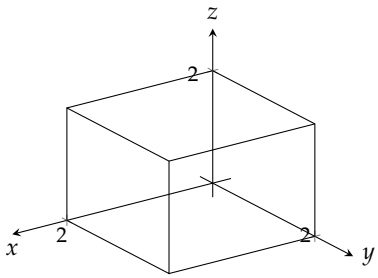

شکل ۱۴.۳۵: تکمل کا خطہ (مثال ۱۴.۱۷)

۲۲۷۷۴ مثال کے طور پر اگر $F(x,y,z) = \sqrt{x^2+y^2+z^2}$ ہو تب D پر F کی اوسط قیمت سے مراد مبدا سے D میں نقطوں کا اوسط فاصلہ
۲۲۷۷۵ ہے۔ اگر D میں $F(x,y,z)$ ایک ٹھوس جسم کی کمیتی کثافت ہو تب D میں F کی اوسط قیمت اس جسم کی اوسط کمیتی کثافت ہو گی جس کی اکائی
۲۲۷۷۶ کمیت فی اکائی حجم ہو گی۔

۲۲۷۷۷ مثال ۱۴.۱۷: شُمن اول میں محددی مستویات اور مستویات $x = 2$ ، $y = 2$ اور $z = 2$ کے بیچ $F(x,y,z) = xyz$ کی اوسط
۲۲۷۷۸ قیمت تلاش کریں۔

۲۲۷۷۹ حل: ہم اس مکعب کا خاکہ بنا کر اس پر تکمل کی حدوں کی نشاندہی کرتے ہیں (شکل ۱۴.۳۵)۔ اس کے بعد مساوات ۵ سے مکعب پر F کی اوسط قیمت حاصل
۲۲۷۸۰ کرتے ہیں۔

۲۲۷۸۱ مکعب کا حجم $(2)(2)(2) = 8$ ہو گا۔ مکعب پر F کی قیمت درج ذیل ہو گا۔

$$\begin{aligned}\int_0^2\int_0^2\int_0^2 xyz\,\mathrm{d}x\,\mathrm{d}y\,\mathrm{d}z &= \int_0^2\int_0^2 \left[\frac{x^2}{2}yz\right]_{x=0}^{x=2}\mathrm{d}y\,\mathrm{d}z = \int_0^2\int_0^2 2yz\,\mathrm{d}y\,\mathrm{d}z\\ &= \int_0^2 \left[y^2z\right]_{y=0}^{y=2}\mathrm{d}z = \int_0^2 4z\,\mathrm{d}z = \left[2z^2\right]_0^2 = 8\end{aligned}$$

۲۲۷۸۲ ان قیمتوں کو استعمال کرتے ہوئے مساوات ۵ سے درج ذیل اوسط قیمت حاصل ہو گی۔

$$\text{مکعب پر اوسط قیمت} = \frac{1}{\text{حجم}}\iiint xyz\,\mathrm{d}H = \left(\frac{1}{8}\right)(8) = 1$$

۲۲۷۸۳ ہم نے اس تکمل کو $\mathrm{d}x$ ، $\mathrm{d}y$ ، $\mathrm{d}z$ ترتیب سے حاصل کیا۔ ہم باقی پانچ ترتیب میں سے کسی ایک ترتیب کو استعمال کرتے ہوئے بھی اس تکمل کو حل کر سکتے
۲۲۷۸۴ ہیں۔ □

سوالات

مختلف اعادوں سے تہرا تکمل کی قیمت کا حصول

سوال ۱۴.۱۷۳: چھ مختلف اعادوں سے مثال ۱۴.۱۶ میں حجم کا حل دیا گیا ہے۔ ان تمام کا مشترک جواب کیا ہے؟

سوال ۱۴.۱۷۴: ثُمن اول میں محددی مستویات اور مستویات $x = 1$ ، $y = 2$ اور $z = 3$ کے بیچ ٹھوس مستطیل جسم کے حجم کے چھ مختلف اعادہ تہرا تکملات لکھیں۔ ان میں سے ایک تکمل کی قیمت معلوم کریں۔

سوال ۱۴.۱۷۵: ثُمن اول سے مستوی $6x + 3y + 2z = 6$ ایک چوسطحہ کاٹتا ہے۔ اس کے حجم کے چھ مختلف اعادہ تہرا تکملات لکھیں۔ ان میں سے ایک تکمل کی قیمت حاصل کریں۔

سوال ۱۴.۱۷۶: ثُمن اول سے بیلن $x^2 + z^2 = 4$ اور مستوی $y = 3$ ایک خطہ کاٹتے ہیں۔ اس خطہ کے حجم کے چھ مختلف اعادہ تہرا تکملات لکھیں۔ ان میں سے ایک تکمل کی قیمت تلاش کریں۔

سوال ۱۴.۱۷۷: قطعات مکافی $z = 8 - x^2 - y^2$ اور $z = x^2 + y^2$ میں محیط خطہ D کے حجم کا چھ مختلف تہرا اعادہ تکملات لکھیں۔ ان میں سے ایک تکمل کی قیمت معلوم کریں۔

سوال ۱۴.۱۷۸: قطع مکافی $z = x^2 + y^2$ اور مستوی $z = 2y$ میں ملفوف خطہ D کے حجم کی تہرا اعادہ تکملات ترتیب $\mathrm{d}z\,\mathrm{d}x\,\mathrm{d}y$ اور $\mathrm{d}z\,\mathrm{d}y\,\mathrm{d}x$ میں لکھیں۔ ان میں سے کسی بھی تکمل کی قیمت حاصل نہ کریں۔

تہرا اعادہ تکمل کی قیمت کی تلاش

سوال ۱۴.۱۷۹ تا سوال ۱۴.۱۹۲ میں تکملات کی قیمتیں تلاش کریں۔

سوال ۱۴.۱۷۹: $\int_0^1 \int_0^1 \int_0^1 (x^2 + y^2 + z^2)\,\mathrm{d}z\,\mathrm{d}y\,\mathrm{d}x$

سوال ۱۴.۱۸۰: $\int_0^{\sqrt{2}} \int_0^{3y} \int_{x^2+3y^2}^{8-x^2-y^2} \mathrm{d}z\,\mathrm{d}x\,\mathrm{d}y$

سوال ۱۴.۱۸۱: $\int_1^e \int_1^e \int_1^e \frac{1}{xyz}\,\mathrm{d}x\,\mathrm{d}y\,\mathrm{d}z$

سوال ۱۴.۱۸۲: $\int_0^1 \int_0^{3-3x} \int_0^{3-3x-y} \mathrm{d}z\,\mathrm{d}y\,\mathrm{d}x$

سوال ۱۴.۱۸۳: $\int_0^1 \int_0^{\pi} \int_0^{\pi} y \sin z\,\mathrm{d}x\,\mathrm{d}y\,\mathrm{d}z$

سوال ۱۴.۱۸۴: $\int_{-1}^1 \int_{-1}^1 \int_{-1}^1 (x + y + z)\,\mathrm{d}y\,\mathrm{d}x\,\mathrm{d}z$

سوال ۱۴.۱۸۵: $\int_0^3 \int_0^{\sqrt{9-x^2}} \int_0^{\sqrt{9-x^2}} \mathrm{d}z\,\mathrm{d}y\,\mathrm{d}x$

سوال ۱۴.۱۸۶: $\int_0^2 \int_{-\sqrt{4-y^2}}^{\sqrt{4-x^2}} \int_0^{2x+y} \mathrm{d}z\,\mathrm{d}x\,\mathrm{d}y$

سوال ۱۴.۱۸۷: $\int_0^1 \int_0^{2-x} \int_0^{2-x-y} \mathrm{d}z\,\mathrm{d}y\,\mathrm{d}x$

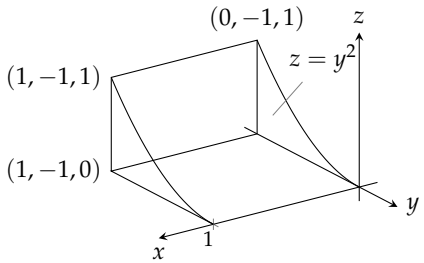

شکل ۱۴.۳۷: خاکہ برائے سوال ۱۴.۱۹۴

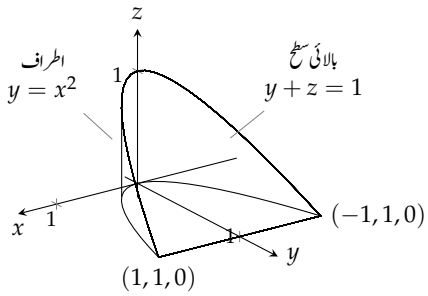

شکل ۱۴.۳۶: خاکہ برائے سوال ۱۴.۱۹۳

۲۲۸۰۹ سوال ۱۴.۱۸۸: $\int_0^1 \int_0^{1-x^2} \int_3^{4-x^2-y} x \, dz \, dy \, dx$

۲۲۸۱۰ سوال ۱۴.۱۸۹: $\int_0^{\pi} \int_0^{\pi} \int_0^{\pi} \cos(u+v+w) \, du \, dv \, dw$ (uvw فضا)

۲۲۸۱۱ سوال ۱۴.۱۹۰: $\int_1^e \int_1^e \int_1^e \ln r \ln s \ln t \, dt \, dr \, ds$ (rst فضا)

۲۲۸۱۲ سوال ۱۴.۱۹۱: $\int_0^{\pi/4} \int_0^{\ln \sec v} \int_{-\infty}^{2t} e^x \, dx \, dt \, dv$ (tvx فضا)

۲۲۸۱۳ سوال ۱۴.۱۹۲: $\int_0^7 \int_0^2 \int_0^{\sqrt{4-q^2}} \frac{q}{r+1} \, dp \, dq \, dr$ (pqr فضا)

۲۲۸۱۴

۲۲۸۱۵ **حجم بذریعہ تہرا تکملات**

۲۲۸۱۶ سوال ۱۴.۱۹۳: درج ذیل تکمل کا خطہ شکل ۱۴.۳۶ میں دکھایا گیا ہے۔

$$\int_{-1}^{1} \int_{x^2}^{1} \int_0^{1-y} dz \, dy \, dx$$

۲۲۸۱۷ اس تکمل کو درج ذیل ترتیب کے اعادہ معادل روپ میں لکھیں۔

۲۲۸۱۸ ا. $dy \, dz \, dx$ ۲۲۸۲۰ ج. $dx \, dy \, dz$ ۲۲۸۲۲ ھ. $dz \, dx \, dy$

۲۲۸۱۹ ب. $dy \, dx \, dz$ ۲۲۸۲۱ د. $dx \, dz \, dy$

۲۲۸۲۳

۲۲۸۲۴ سوال ۱۴.۱۹۴: درج ذیل تکمل کا خطہ شکل ۱۴.۳۷ میں دکھایا گیا ہے۔

$$\int_0^1 \int_{-1}^{0} \int_0^{y^2} dz \, dy \, dx$$

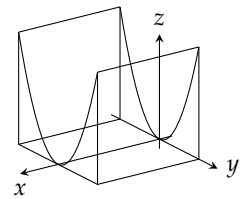

شکل ۱۴.۳۸: خاکہ برائے سوال ۱۴.۱۹۵

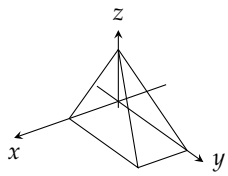

شکل ۱۴.۳۹: خاکہ برائے سوال ۱۴.۱۹۶

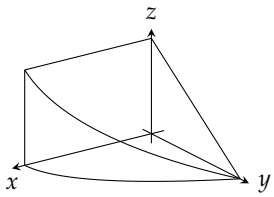

شکل ۱۴.۴۰: خاکہ برائے سوال ۱۴.۱۹۷

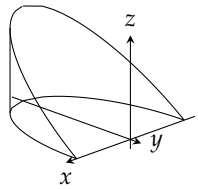

شکل ۱۴.۴۱: خاکہ برائے سوال ۱۴.۱۹۸

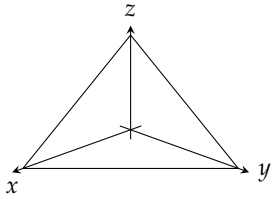

شکل ۱۴.۴۲: خاکہ برائے سوال ۱۴.۱۹۹

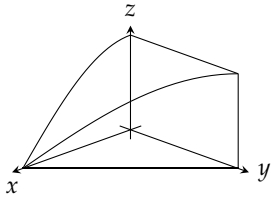

شکل ۱۴.۴۳: خاکہ برائے سوال ۱۴.۲۰۰

۲۲۸۲۵ اس تکمل کو درج ذیل ترتیب کے اعادہ معادل روپ میں لکھیں۔

۲۲۸۲۶ ا. $\mathrm{d}y\,\mathrm{d}z\,\mathrm{d}x$

۲۲۸۲۷ ب. $\mathrm{d}y\,\mathrm{d}x\,\mathrm{d}z$

۲۲۸۲۸ ج. $\mathrm{d}x\,\mathrm{d}y\,\mathrm{d}z$

۲۲۸۲۹ د. $\mathrm{d}x\,\mathrm{d}z\,\mathrm{d}y$

۲۲۸۳۰ ھ. $\mathrm{d}z\,\mathrm{d}x\,\mathrm{d}y$

۲۲۸۳۱

۲۲۸۳۲ سوال ۱۴.۱۹۵ تا سوال ۱۴.۲۰۸ میں خطوں کا حجم تلاش کریں۔

۲۲۸۳۳ سوال ۱۴.۱۹۵: بیلن $z = y^2$ اور مستوی xy کے بیچ خطہ جس کی سرحدیں مستویات $x = 0$ ، $x = 1$ ، $y = -1$ اور $y = 1$
۲۲۸۳۴ ہیں (شکل ۱۴.۳۸)۔

۲۲۸۳۵ سوال ۱۴.۱۹۶: ثُمن اول میں محددی مستویات اور مستویات $x + z = 1$ ، $y + 2z = 2$ کے بیچ خطہ (شکل ۱۴.۳۹)۔

۲۲۸۳۶ سوال ۱۴.۱۹۷: ثُمن اول میں محددی مستویات اور مستوی $y + z = 2$ اور بیلن $x = 4 - y^2$ کے بیچ خطہ (شکل ۱۴.۴۰)۔

۲۲۸۳۷

۲۲۸۳۸ سوال ۱۴.۱۹۸: بیلن $x^2 + y^2 = 1$ سے مستویات $z = -y$ اور $z = 0$ جو پچر کاٹتے ہیں (شکل ۱۴.۴۱)۔

۲۲۸۳۹ سوال ۱۴.۱۹۹: ثُمن اول میں محددی مستویات اور مستوی $x + \frac{y}{2} + \frac{z}{3} = 1$ کے بیچ چوسطحہ (شکل ۱۴.۴۲)۔

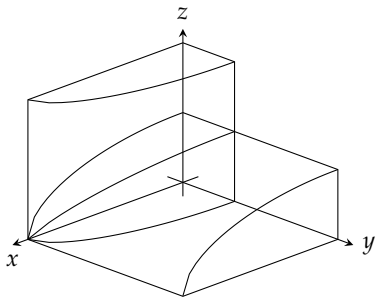

شکل ۱۴.۴۴: خاکہ برائے سوال ۱۴.۲۰۱

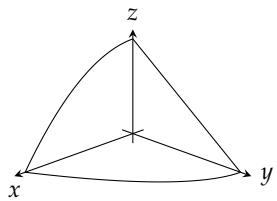

شکل ۱۴.۴۵: خاکہ برائے سوال ۱۴.۲۰۲

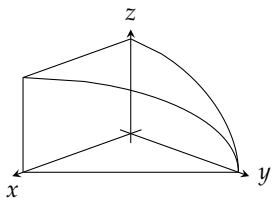

شکل ۱۴.۴۶: خاکہ برائے سوال ۱۴.۲۰۳

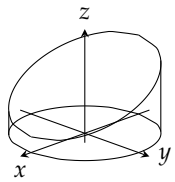

شکل ۱۴.۴۷: خاکہ برائے سوال ۱۴.۲۰۴

۲۲۸۴۰ سوال ۱۴.۲۰۰: شُمن اول میں محددی مستویات، مستوی $y = 1 - x$ اور سطح $z = \cos(\pi x/2),\ 0 \le x \le 1$ کے بیچ خطہ
۲۲۸۴۱ (شکل ۱۴.۴۳)۔

۲۲۸۴۲ سوال ۱۴.۲۰۱: بیلن $x^2 + y^2 = 1$ اور بیلن $x^2 + z^2 = 1$ کا مشترک اندرون (شکل ۱۴.۴۴)۔

۲۲۸۴۳ سوال ۱۴.۲۰۲: شُمن اول میں محددی مستویات اور سطح $z = 4 - x^2 - y$ کے بیچ خطہ (شکل ۱۴.۴۵)۔

۲۲۸۴۴ سوال ۱۴.۲۰۳: شُمن اول میں محددی مستویات، مستوی $x + y = 4$ اور بیلن $y^2 + 4z^2 = 16$ کے بیچ خطہ (شکل ۱۴.۴۶)۔

۲۲۸۴۵ سوال ۱۴.۲۰۴: بیلن $x^2 + y^2 = 4$ سے مستویات $z = 0$ اور $x + z = 3$ جو خطہ کاٹتے ہیں (شکل ۱۴.۴۷)۔

۲۲۸۴۶ سوال ۱۴.۲۰۵: شُمن اول میں مستویات $x + y + 2z = 2$ اور $2x + 2y + z = 4$ کے بیچ خطہ۔

۲۲۸۴۷ سوال ۱۴.۲۰۶: مستویات $z = x$ ، $x + z = 8$ ، $z = y$ ، $y = 8$ اور $z = 0$ کے بیچ متناہی خطہ۔

۲۲۸۴۸ سوال ۱۴.۲۰۷: ٹھوس ترخیمی بیلن $x^2 + 4y^2 \le 4$ سے xy مستوی اور مستوی $z = x + 2$ جو خطہ کاٹتے ہیں۔

۲۲۸۴۹ سوال ۱۴.۲۰۸: وہ خطہ جس کا پشت مستوی $x = 0$ ، سامنے اور اطراف قطع مکافی بیلن $x = 1 - y^2$ ، بالا قطع مکافی سطح $z = x^2 + y^2$
۲۲۸۵۰ اور نیچے مستوی xy ہوں۔

۲۲۸۵۱

اوسط قیمتیں

سوال ۱۴.۲۰۹ تا سوال ۱۴.۲۱۲ میں دیے گئے خطہ پر $F(x,y,z)$ کی اوسط قیمت تلاش کریں۔

سوال ۱۴.۲۰۹: شُمن اول میں محددی مستویات اور مستویات $x = 2$ ، $y = 2$ اور $z = 2$ کے بیچ مکعب خطہ اور تفاعل $F(x,y,z) = x^2 + 9$ لیں۔

سوال ۱۴.۲۱۰: شُمن اول میں محددی مستویات اور مستویات $x = 1$ ، $y = 1$ اور $z = 2$ کے بیچ خطہ اور تفاعل $F(x,y,z) = x + y - z$ لیں۔

سوال ۱۴.۲۱۱: شُمن اول میں محددی مستویات اور مستویات $x = 1$ ، $y = 1$ اور $z = 1$ کے بیچ خطہ اور تفاعل $F(x,y,z) = x^2 + y^2 + z^2$ لیں۔

سوال ۱۴.۲۱۲: شُمن اول میں محددی مستویات اور مستویات $x = 2$ ، $y = 2$ اور $z = 2$ کے بیچ خطہ اور تفاعل $F(x,y,z) = xyz$ لیں۔

تکمل کی ترتیب بدلنا

سوال ۱۴.۲۱۳ تا سوال ۱۴.۲۱۶ میں موزوں طریقہ سے تکمل کی ترتیب تبدیل کر کے تکمل کی قیمت تلاش کریں۔

سوال ۱۴.۲۱۳: $\int_0^4 \int_0^1 \int_{2y}^2 \frac{4\cos(x^2)}{2\sqrt{z}}\,\mathrm{d}x\,\mathrm{d}y\,\mathrm{d}z$

سوال ۱۴.۲۱۴: $\int_0^1 \int_0^1 \int_{x^2}^1 12xze^{zy^2}\,\mathrm{d}y\,\mathrm{d}x\,\mathrm{d}z$

سوال ۱۴.۲۱۵: $\int_0^1 \int_{\sqrt[3]{z}}^1 \int_0^{\ln 3} \frac{\pi e^{2x}\sin \pi y^2}{y^2}\,\mathrm{d}x\,\mathrm{d}y\,\mathrm{d}z$

سوال ۱۴.۲۱۶: $\int_0^2 \int_0^{4-x^2} \int_0^x \frac{\sin 2z}{4-z}\,\mathrm{d}y\,\mathrm{d}z\,\mathrm{d}x$

نظریہ اور مثالیں

سوال ۱۴.۲۱۷: درج ذیل کو a کے لئے حل کریں۔

$$\int_0^1 \int_0^{4-a-x^2} \int_a^{4-x^2-y} \mathrm{d}z\,\mathrm{d}y\,\mathrm{d}x = \frac{4}{15}$$

سوال ۱۴.۲۱۸: ترخیمی سطح $x^2 + \frac{y^2}{4} + \frac{z^2}{c^2} = 1$ کا حجم c کی کس قیمت کے لئے 8π ہوگا؟

۲۲۸۷۳ سوال ۱۴.۲۱۹: فضا میں کونسا دائرہ کار D درج ذیل تکمل کی قیمت کو کم سے کم بناتا ہے؟ اپنے جواب کی وجہ پیش کریں۔

$$\iiint\limits_D (4x^2 + 4y^2 + z^2 - 4)\,\mathrm{d}H$$

۲۲۸۷۴ سوال ۱۴.۲۲۰: فضا میں کونسا دائرہ کار D درج ذیل تکمل کی قیمت کو زیادہ سے زیادہ بناتا ہے؟ اپنے جواب کی وجہ پیش کریں۔

$$\iiint\limits_D (1 - x^2 - y^2 - z^2)\,\mathrm{d}H$$

۲۲۸۷۵ **کمپیوٹر**

۲۲۸۷۶ سوال ۱۴.۲۲۱ تا سوال ۱۴.۲۲۴ میں دیے گئے خطہ پر تفاعل کا تہرا تکمل کمپیوٹر کی مدد سے حل کریں۔

۲۲۸۷۷ سوال ۱۴.۲۲۱: مستویات $z = 0$ اور $z = 1$ اور سطح $x^2 + y^2 = 1$ کے بیچ ٹھوس بیلن پر تفاعل $F(x, y, z) = x^2y^2z$
۲۲۸۷۸ لیں۔

۲۲۸۷۹ سوال ۱۴.۲۲۲: ٹھوس خطہ جو نیچے سے قطع مکافی سطح $z = x^2 + y^2$ اور اوپر سے مستوی $z = 1$ میں ملفوف ہو اور تفاعل
۲۲۸۸۰ $F(x, y, z) = |xyz|$ لیں۔

۲۲۸۸۱ سوال ۱۴.۲۲۳: ٹھوس خطہ جو نیچے سے مخروط $z = \sqrt{x^2 + y^2}$ اور اوپر سے مستوی $z = 1$ میں ملفوف ہو اور تفاعل
۲۲۸۸۲ $F(x, y, z) = \frac{z}{(x^2+y^2+z^2)^{3/2}}$ لیں۔

۲۲۸۸۳ سوال ۱۴.۲۲۴: ٹھوس کرہ $x^2 + y^2 + z^2 \leq 1$ اور تفاعل $F(x, y, z) = x^4 + y^2 + z^2$ لیں۔

۲۲۸۸۴

۲۲۸۸۵

۲۲۸۸۶ ۱۴.۵ تعین بعد میں کمیت اور معیار اثر

۲۲۸۸۷ اس حصہ میں تین بعدی اجسام کی کمیت اور معیار اثر کا حصول کارتیسی محدد میں سکھایا جائے گا۔ یہ کلیات دو بعدی اجسام کے کلیات کی طرح ہیں۔ کروی اور نلکی
۲۲۸۸۸ محدد میں حساب کرنا حصہ ۱۴.۶ میں دکھایا جائے گا۔

۲۲۸۸۹ **کمیت اور معیار اثر**

۲۲۸۹۰ فضا میں خطہ D میں پائے جانے والے ایک جسم کی کمیتی کثافت $\delta(x, y, z)$ ہے۔ خطہ D پر δ کا تکمل اس جسم کی کمیت دیگا۔ یہ دیکھنے کی خاطر کہ ایسا
۲۲۸۹۱ کیوں کر ہوگا ہم اس جسم کو n ٹکڑوں میں تقسیم کرتے ہیں (شکل ۱۴.۴۸)۔ جسم کی کمیت درج ذیل حد ہو گی۔

$$M = \lim_{n\to\infty} \sum_{k=1}^{n} \Delta m_k = \lim_{n\to\infty} \sum_{k=1}^{n} \delta(x_k, y_k, z_k)\Delta H_k = \iiint\limits_D \delta(x, y, z)\,\mathrm{d}H \tag{۱}$$

۲۲۸۹۲ اگر D میں لکیر L سے نقطہ (x,y,z) کا فاصلہ $r(x,y,z)$ ہو، تب L کے لحاظ سے کمیت $\Delta m_k = \delta(x,y_k,z_k)\Delta H_k$ تقریباً
۲۲۸۹۳ $\Delta I_k = r^2(x_k,y_k,z_k)\Delta m_k$ ہو گا۔ یوں L کے لحاظ سے پورے جسم کا معیار اثر درج ذیل ہو گا۔

$$I_L = \lim_{n\to\infty}\sum_{k=1}^{n}\Delta I_k = \lim_{n\to\infty}\sum_{k=1}^{n} r^2(x_k,y_k,z_k)\delta(x_k,y_k,z_k)\Delta H_k = \iiint\limits_D r^2\delta\,\mathrm{d}H$$

۲۲۸۹۴ اگر L محور x ہو تب $r^2 = y^2+z^2$ ہو گا اور

$$I_x = \iiint\limits_D (y^2+z^2)\delta\,\mathrm{d}H$$

۲۲۸۹۵ ہو گا۔ اسی طرح

$$I_z = \iiint\limits_D (x^2+y^2)\delta\,\mathrm{d}H \quad \text{اور} \quad I_y = \iiint\limits_D (x^2+z^2)\delta\,\mathrm{d}H$$

۲۲۸۹۶ ہوں گے۔ ان کلیات کو دیگر کلیات کے ساتھ یہاں یکجا کیا گیا ہے۔

۲۲۸۹۷ کمیت: $M = \iiint\limits_D \delta\,\mathrm{d}H$ ($\delta =$ کثافت)

۲۲۸۹۸ محددی مستویات کے لحاظ سے معیار اثر اول:

۲۲۸۹۹ $$M_{yz} = \iiint\limits_D x\delta\,\mathrm{d}H, \quad M_{xz} = \iiint\limits_D y\delta\,\mathrm{d}H, \quad M_{xy} = \iiint\limits_D z\delta\,\mathrm{d}H$$

۲۲۹۰۰ مرکز کمیت: $\bar{x} = \frac{M_{yz}}{M}, \quad \bar{y} = \frac{M_{xz}}{M}, \quad \bar{z} = \frac{M_{xy}}{M}$

۲۲۹۰۱ جمودی معیار اثر (معیار اثر دوم):

$$I_x = \iiint (y^2+z^2)\delta\,\mathrm{d}H$$
$$I_y = \iiint (x^2+z^2)\delta\,\mathrm{d}H$$
$$I_z = \iiint (x^2+y^2)\delta\,\mathrm{d}H$$

۲۲۹۰۲ خط L کے لحاظ سے معیار اثر: $I_L = \iiint r^2\delta\,\mathrm{d}H$ (جہاں L سے نقطہ (x,y,z) کا فاصلہ $r(x,y,z)$ ہے۔)

۲۲۹۰۳ خط L کے لحاظ سے رداس دوار: $R_L = \sqrt{\frac{I_L}{M}}$

۲۲۹۰۴ مثال ۱۴.۱۸: مستقل کثافت δ کا مستطیل ٹھوس جسم شکل ۱۴.۴۹ میں دکھایا گیا ہے۔ اس کے I_x ، I_y اور I_z دریافت کریں۔

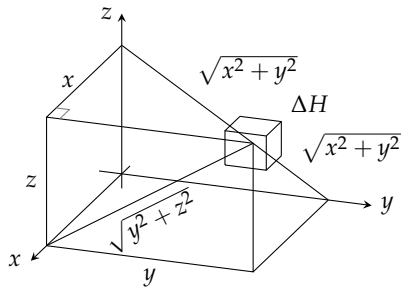

شکل ۱۴.۴۸: محددی محور اور محددی مستویات سے ایک ٹکڑے کے فاصلے۔

۲۲۹۰۵ حل: ہم مذکورہ بالا کلیات استعمال کرتے ہیں۔ یوں

$$I_x = \int_{-c/2}^{c/2}\int_{-b/2}^{b/2}\int_{-a/2}^{a/2}(y^2+z^2)\delta\,\mathrm{d}x\,\mathrm{d}y\,\mathrm{d}z \tag{۲}$$

۲۲۹۰۶ ہوگا۔ چونکہ $\delta(y^2+z^2)$ متغیرات x ، y اور z کا جفت تفاعل ہے لہٰذا درج ذیل لکھا جا سکتا ہے۔

$$\begin{aligned}
I_x &= 8\int_0^{c/2}\int_0^{b/2}\int_0^{a/2}(y^2+z^2)\delta\,\mathrm{d}x\,\mathrm{d}y\,\mathrm{d}z = 4a\delta\int_0^{c/2}\int_0^{b/2}(y^2+z^2)\,\mathrm{d}y\,\mathrm{d}z\\
&= 4a\delta\int_0^{c/2}\left[\frac{y^3}{3}+z^2y\right]_{y=0}^{y=b/2}\mathrm{d}z\\
&= 4a\delta\int_0^{c/2}\left(\frac{b^3}{24}+\frac{z^2b}{2}\right)\mathrm{d}z\\
&= 4a\delta\left(\frac{b^3c}{48}+\frac{c^3b}{48}\right) = \frac{abc\delta}{12}(b^2+c^2) = \frac{M}{12}(b^2+c^2)
\end{aligned}$$

۲۲۹۰۷ اسی طرح درج ذیل ہوں گے۔

$$I_z = \frac{M}{12}(a^2+b^2) \quad \text{اور} \quad I_y = \frac{M}{12}(a^2+c^2)$$

۲۲۹۰۸ □

۲۲۹۰۹ مثال ۱۴.۱۹: مستقل کثافت δ کے جسم کی نچلی سرحد مستوی $z=0$ میں قرص $R:\ x^2+y^2\le 4$ ہے جبکہ اس کی بالائی حد قطع مکافی
۲۲۹۱۰ $z=4-x^2-y^2$ ہے (شکل ۱۴.۵۰)۔ اس جسم کا مرکز کمیت تلاش کریں۔

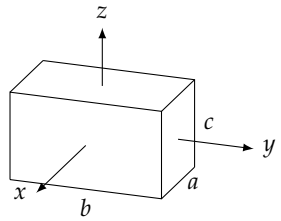

شکل ۱۴.۴۹: ٹھوس جسم برائے مثال ۱۴.۱۸

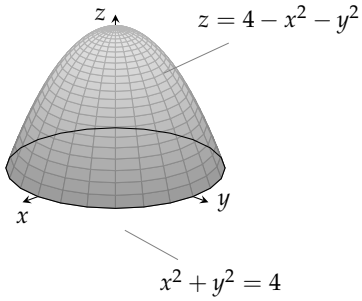

شکل ۱۴.۵۰: ٹھوس جسم برائے مثال ۱۴.۱۹

۲۲۹۱۱ حل: تشاکلی کی وجہ سے $\bar{x} = \bar{y} = 0$ ہوگا۔ ہمیں $\bar{z}$ معلوم کرنے کے لئے پہلے درج ذیل دریافت کرنے ہوں گے۔

$$\begin{aligned}
M_{xy} &= \iint\limits_R \int_{z=0}^{z=4-x^2-y^2} z\delta \,\mathrm{d}z\,\mathrm{d}y\,\mathrm{d}x = \iint\limits_R \left[\frac{z^2}{2}\right]_{z=0}^{z=4-x^2-y^2} \delta \,\mathrm{d}y\,\mathrm{d}x \\
&= \frac{\delta}{2} \iint\limits_R (4 - x^2 - y^2)^2 \,\mathrm{d}y\,\mathrm{d}x \\
&= \frac{\delta}{2} \int_0^{2\pi} \int_0^2 (4 - r)^2 r \,\mathrm{d}r\,\mathrm{d}\theta \qquad \text{قطبی محدد} \\
&= \frac{\delta}{2} \int_0^{2\pi} \left[-\frac{1}{6}(4 - r^2)^3 \right]_{r=0}^{r=2} \mathrm{d}\theta = \frac{16\delta}{3} \int_0^{2\pi} \mathrm{d}\theta = \frac{32\pi\delta}{3}
\end{aligned}$$

۲۲۹۱۲ اسی طرح

$$M = \iint\limits_R \int_0^{4-x^2-y^2} \delta \,\mathrm{d}z\,\mathrm{d}y\,\mathrm{d}x = 8\pi\delta$$

۲۲۹۱۳ ہوگا۔ یوں $\bar{z} = \frac{M_{xy}}{M} = \frac{4}{3}$ اور مرکز کمیت $(\bar{x}, \bar{y}, \bar{z}) = (0, 0, 4/3)$ ہوگا۔ □

۲۲۹۱۴ جب جسم کی کثافت اٹل ہو (جیسا مثال ۱۴.۱۸ اور مثال ۱۴.۱۹ میں تھا)، تب (دو بعدی اجسام کی طرح) مرکز کمیت اس جسم کا **وسطانی مرکز**[۱۵] ہوگا۔

۲۲۹۱۵ **سوالات**

۲۲۹۱۶ **مستقل کثافت**

[۱۵] centroid

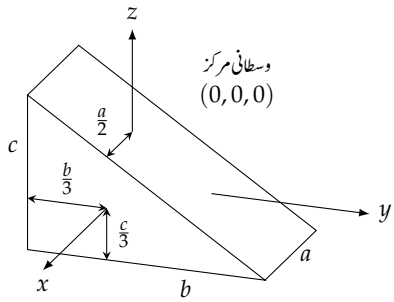

شکل ۱۴.۵۱: پچر برائے سوال ۱۴.۲۲۶

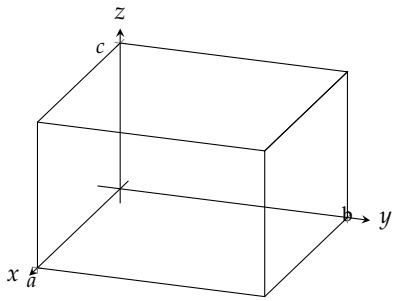

شکل ۱۴.۵۲: مستطیل ٹھوس جسم برائے سوال ۱۴.۲۲۷

سوال ۱۴.۲۲۵ تا سوال ۱۴.۲۳۶ میں کثافت $\delta = 1$ ہے۔

سوال ۱۴.۲۲۵: جمودی معیار اثر کی مساوات ۲ کو سیدھا حل کر کے مثال ۱۴.۱۸ میں مستعمل چھوٹے طریقہ کے نتیجہ کی تصدیق کریں۔ مثال ۱۴.۱۸ کے نتائج استعمال کرتے ہوئے تینوں محددی محوروں کے لحاظ سے اس جسم کے رداس دوار تلاش کریں۔

سوال ۱۴.۲۲۶: ایک پچر کے وسطانی مرکز گزرتے محددی محور پچر کے کناروں کے متوازی ہیں (شکل ۱۴.۵۱)۔ اگر $a = b = 6$ اور $c = 4$ تب I_x ، I_y اور I_z کیا ہوں گے۔

سوال ۱۴.۲۲۷: مستطیل ٹھوس جسم کے I_x ، I_y اور I_z دریافت کرتے ہوئے جسم کے کناروں کے لحاظ سے جمودی معیار اثر تلاش کریں (شکل ۱۴.۵۲)۔

سوال ۱۴.۲۲۸: (ا) ایک چوسطحہ جس کے راس $(0,0,0)$ ، $(1,0,0)$ ، $(0,1,0)$ اور $(0,0,1)$ ہیں کا وسطانی مرکز اور I_x ، I_y اور I_z تلاش کریں۔ (ب) محور x کے لحاظ سے اس چوسطحہ کا رداس دوار معلوم کریں۔ محور x سے وسطانی مرکز تک فاصلہ کے ساتھ اس کا موازنہ کریں۔

سوال ۱۴.۲۲۹: مستقل کثافت کے ایک ٹھوس "کونڈا" کی زیریں سرحدی سطح $z = 4y^2$ ، بالائی سرحدی سطح $z = 4$ اور اطراف مستویات $x = 1$ اور $x = -1$ ہیں۔ اس کی مرکز کمیت اور تینوں محوروں کے لحاظ سے جمودی معیار اثر تلاش کریں۔

سوال ۱۴.۲۳۰: مستقل کثافت کے ایک ٹھوس جسم کی زیریں سرحد مستوی $z = 0$ ، بالائی سرحد مستوی $z = 2 - x$ اور اس کے اطراف ترخیمی بیلن $x^2 + 4y^2 = 4$ ہے (شکل ۱۴.۵۳)۔ (ا) $\bar{x}$ اور $\bar{y}$ دریافت کریں۔ (ب) درج ذیل تکمل کی قیمت حاصل کریں۔ آخری تکمل میں x کے لحاظ سے تکمل لیتے ہوئے آپ کو تکملات کا جدول استعمال کرنا ہو گا۔ $M_{xy} = \int_{-2}^{2} \int_{-(1/2)\sqrt{4-x^2}}^{(1/2)\sqrt{4-x^2}} \int_{0}^{2-x} z \, \mathrm{d}z \, \mathrm{d}y \, \mathrm{d}x$ اس کے بعد M_{xy} کو M سے تقسیم کر کے تصدیق کریں کہ $\bar{z} = \frac{5}{4}$ ہو گا۔

سوال ۱۴.۲۳۱: (ا) مستقل کثافت کے ایک ٹھوس جسم کی زیریں سرحد قطع مکافی $z = x^2 + y^2$ اور بالائی سرحد مستوی $z = 4$ ہے۔ اس جسم کا مرکز کمیت تلاش کریں۔ (ب) وہ مستوی $z = c$ دریافت کریں جو اس جسم کو برابر حجم کے دو ٹکڑوں میں تقسیم کرتا ہو۔ یہ مستوی اس جسم کے مرکز کمیت سے نہیں گزرتا ہے۔

سوال ۱۴.۲۳۲: ایک ٹھوس مکعب کے اضلاع کی لمبائیاں 2 اکائیاں ہے۔ یہ مستویات $x = \mp 1$ ، $z = \mp 1$ ، $y = 3$ اور $y = 5$

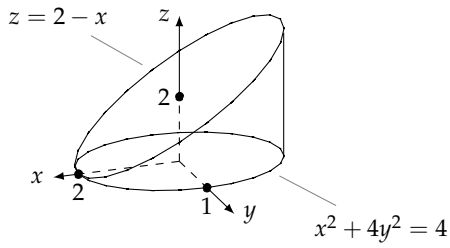

شکل ۱۴.۵۳: ٹھوس جسم برائے سوال ۱۴.۲۳۰

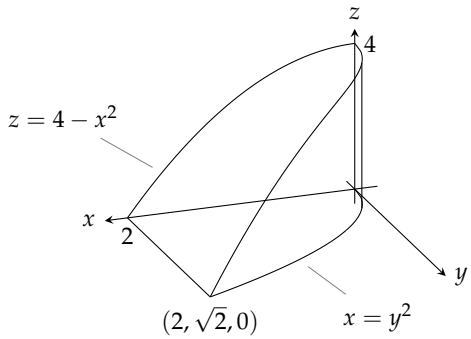

شکل ۱۴.۵۴: ٹھوس جسم برائے سوال ۱۴.۲۳۸

۲۲۹۳۷ کے بیچ واقع ہے۔ اس مکعب کا مرکز کمیت اور محددی محوروں کے لحاظ سے مکعب کے رداس دوار تلاش کریں۔

۲۲۹۳۸

۲۲۹۳۹ سوال ۱۴.۲۳۳: ایک پچر کے $a = 4$ ، $b = 6$ اور $c = 3$ ہیں (سوال ۱۴.۲۲۶ دیکھیں)۔ اس کا خاکہ بنا کر تصدیق کریں کہ پچر کے کسی
۲۲۹۴۰ علامتی نقطہ (x, y, z) سے لکیر $L : y = 6, z = 0$ تک فاصلے کا مربع $r^2 = (y-6)^2 + z^2$ ہو گا۔ لکیر L کے لحاظ سے اس
۲۲۹۴۱ پچر کا جمودی معیار اثر اور رداس دوار معلوم کریں۔

۲۲۹۴۲ سوال ۱۴.۲۳۴: ایک پچر کے $a = 4$ ، $b = 6$ اور $c = 3$ ہیں (سوال ۱۴.۲۲۶ دیکھیں)۔ اس کا خاکہ بنا کر تصدیق کریں کہ پچر کے کسی
۲۲۹۴۳ علامتی نقطہ (x, y, z) سے لکیر $L : x = 4, y = 0$ تک فاصلے کا مربع $r^2 = (x-4)^2 + y^2$ ہو گا۔ لکیر L کے لحاظ سے اس
۲۲۹۴۴ پچر کا جمودی معیار اثر اور رداس دوار معلوم کریں۔

۲۲۹۴۵ سوال ۱۴.۲۳۵: ایک مستطیل ٹھوس جسم کے $a = 4$ ، $b = 2$ اور $c = 1$ ہیں (سوال ۱۴.۲۲۷ دیکھیں)۔ اس جسم کا خاکہ بنا کر تصدیق
۲۲۹۴۶ کریں کہ اس جسم کے کسی علامتی نقطہ (x, y, z) سے لکیر $L : y = 2, z = 0$ تک فاصلہ کا مربع $r^2 = (y-2)^2 + z^2$ ہو گا۔
۲۲۹۴۷ لکیر L کے لحاظ سے اس جسم کا جمودی معیار اثر اور رداس دوار تلاش کریں۔

۲۲۹۴۸ سوال ۱۴.۲۳۶: ایک مستطیل ٹھوس جسم کے $a = 4$ ، $b = 2$ اور $c = 1$ ہیں (سوال ۱۴.۲۲۷ دیکھیں)۔ اس جسم کا خاکہ بنا کر تصدیق
۲۲۹۴۹ کریں کہ اس جسم کے کسی علامتی نقطہ (x, y, z) سے لکیر $L : x = 4, y = 0$ تک فاصلہ کا مربع $r^2 = (x-4)^2 + y^2$ ہو گا۔
۲۲۹۵۰ لکیر L کے لحاظ سے اس جسم کا جمودی معیار اثر اور رداس دوار تلاش کریں۔

۲۲۹۵۱

۲۲۹۵۲ متغیر کثافت

۲۲۹۵۳ سوال ۱۴.۲۳۷ اور سوال ۱۴.۲۳۸ میں (ا) جسم کی کمیت اور (ب) اس کا مرکز کمیت تلاش کریں۔

۲۲۹۵۴ سوال ۱۴.۲۳۷: ثُمن اول میں ایک ٹھوس جسم جو محددی مستویات اور مستوی $x + y + z = 2$ کے بیچ واقع ہے۔ اس جسم کی کثافت
۲۲۹۵۵ $\delta(x, y, z) = 2x$ ہے۔

سوال ۱۴.۲۳۸: شُمن اول میں مستویات $y = 0$ اور $z = 0$ اور سطح $z = 4 - x^2$ اور سطح $x = y^2$ کے بیچ واقع جسم کی کثافت $\delta(x, y, z) = kxy$ ہے جہاں k ایک مستقل ہے (شکل ۱۴.۵۴)۔

سوال ۱۴.۲۳۹ اور سوال ۱۴.۲۴۰ میں درج ذیل تلاش کریں۔

ا. اس جسم کی کمیت۔

ب. اس جسم کا مرکز کمیت۔

ج. محددی محوروں کے لحاظ سے جمودی معیار اثر۔

د. محددی محوروں کے لحاظ سے رداس دور۔

سوال ۱۴.۲۳۹: شُمن اول میں محددی مستویات اور مستویات $x = 1$ ، $y = 1$ اور $z = 1$ کے بیچ ٹھوس مکعب جس کی کثافت $\delta(x, y, z) = x + y + z + 1$ ہے۔

سوال ۱۴.۲۴۰: ایک مستطیل ٹھوس جسم جس کے $a = 2$ ، $b = 6$ اور $c = 3$ ہیں (سوال ۱۴.۲۲۶ دیکھیں) کی کثافت $\delta(x, y, z) = x + 1$ ہے۔ آپ دیکھ سکتے ہیں کہ مستقل کثافت کی صورت میں اس جسم کا مرکز کمیت $(0, 0, 0)$ ہوگا۔

سوال ۱۴.۲۴۱: مستویات $x + z = 1$ ، $x - z = -1$ ، $y = 0$ اور سطح $y = \sqrt{z}$ کے بیچ واقع ٹھوس جسم جس کی کثافت $\delta(x, y, z) = 2y + 5$ ہے۔

سوال ۱۴.۲۴۲: قطع مکافی سطح $z = 16 - 2x^2 - 2y^2$ اور $z = 2x^2 + 2y^2$ کے بیچ ٹھوس جسم کی کثافت $\delta(x, y, z) = \sqrt{x^2 + y^2}$ ہے۔ اس جسم کی کمیت تلاش کریں۔

کام

سوال ۱۴.۲۴۳ اور سوال ۱۴.۲۴۴ میں درج ذیل معلوم کریں۔

ا. مکمل بھرے ہوئے برتن سے سیال کو مستوی xy میں منتقل کرنے کے لئے مستقل تجاذب g کتنا کام کرے گا؟ (اشارہ: برتن میں سیال کو چھوٹے چھوٹے حجم کے ٹکڑوں ΔH_k میں تقسیم کرتے ہوئے ہر ٹکڑے کو منتقل کرنے کے لئے درکار کام دریافت کریں۔ ان تمام کا مجموعہ پورے سیال کو منتقل کرنے کا کام ہوگا۔ یہ مجموعہ، حد کی صورت میں، تہرا تکمل دیگا جس کی قیمت آپ کو معلوم کرنی ہوگی۔)

ب. مکمل بھرے ہوئے برتن میں سیال کے مرکز کمیت کو مستوی xy میں منتقل کرنے کے لئے مستقل تجاذب g کتنا کام کرے گا؟

سوال ۱۴.۲۴۳: برتن شُمن اول میں کعبی ڈبہ کی صورت کا ہے جو محددی مستویات اور مستویات $x = 1$ ، $y = 1$ اور $z = 1$ کے بیچ پایا جاتا ہے۔ سیال کی کثافت $\delta(x, y, z) = x + y + z + 1$ ہے (سوال ۱۴.۲۳۹ دیکھیں)۔

سوال ۱۴.۲۴۴: مستویات $y = 0$ ، $z = 0$ اور سطحوں $z = 4 - x^2$ ، $x = y^2$ کے بیچ برتن پایا جاتا ہے۔ سیال کی کثافت $\delta(x, y, z) = kxy$ ہے جہاں k ایک مستقل ہے (سوال ۱۴.۲۳۸ دیکھیں)۔

مسئلہ متوازی محور

مسئلہ متوازی محور (حصہ ۱۴.۲ کے سوالات دیکھیں) دو بعدی صورت کے ساتھ ساتھ تین بعدی صورت کے لئے بھی کارآمد ہے۔ فرض کریں ایک جسم جس کی کمیت m ہو کے مرکز کمیت سے خط $L_{c,m}$ گزرتا ہو جس کے متوازی h فاصلہ پر خط L پایا جاتا ہو۔ مسئلہ متوازی محور کہتا ہے کہ $L_{c,m}$ اور L کے لحاظ سے اس جسم کے جمودی معیار اثر درج ذیل کلیہ کو مطمئن کرتے ہیں۔

$$I_L = I_{c,m} + mh^2 \tag{۳}$$

دو بعدی صورت کی طرح اگر ہمیں ایک جمودی معیار اثر، فاصلہ h اور جسم کی کمیت m معلوم ہو تب ہم اس مسئلہ کی مدد سے دوسرا جمودی معیار اثر باآسانی دریافت کر سکتے ہیں۔

سوال ۱۴.۲۴۵: مسئلہ متوازی محور کا ثبوت

ا. پہلے دکھائیں کہ جسم کے مرکز کمیت سے گزرتے ہوئے فضا میں کسی بھی مستوی کے لحاظ سے معیار اثر اول صفر ہو گا۔ (اشارہ: جسم کے مرکز کمیت کو مبدا پر اور مستوی کو مستوی yz لیں۔ تب کلیہ $\bar{x} = \frac{M_{yz}}{M}$ کیا معلومات فراہم کرتا ہے؟)

ب. جسم کے مرکز کمیت کو مبدا پر، خط $L_{c,m}$ کو محور z پر، اور نقطہ $(h,0,0)$ پر L کو مستوی xy کا متوازی رکھیں۔ فرض کریں یہ جسم فضا میں خطہ D میں پایا جاتا ہے۔ تب شکل کے لحاظ سے درج ذیل ہو گا۔

$$I_L = \iiint\limits_D |\boldsymbol{v} - h\boldsymbol{i}|^2 \,\mathrm{d}m \tag{۴}$$

اس تکمل کو پھیلا کر حل کر کرتے ہوئے ثبوت مکمل کریں۔

سوال ۱۴.۲۴۶: مستقل کثافت، رداس a کے کرہ قطر کے لحاظ سے جمودی معیار اثر $\frac{2}{5}ma^2$ ہو گا جہاں کرہ کی کمیت m ہے۔ کرہ کو مماسی خط کے لحاظ سے کرہ کا جمودی معیار اثر تلاش کریں۔

سوال ۱۴.۲۴۷: محور z کے لحاظ سے سوال ۱۴.۲۲۷ کے جسم کا جمودی معیار اثر $I_z = \frac{1}{3}abc(a^2+b^2)$ ہے۔

ا. مساوات ۱۳ استعمال کرتے ہوئے اس ٹھوس جسم کے مرکز کمیت سے گزرتے ہوئے، محور z کے متوازی خط کے لحاظ سے جسم کا جمودی معیار اثر اور رداس دوار تلاش کریں۔

ب. جزو-ا کے نتائج اور مساوات ۱۳ استعمال کرتے ہوئے خط $x = 0,\ y = 2b$ کے لحاظ سے اس جسم کا جمودی معیار اثر اور رداس دوار تلاش کریں۔

سوال ۱۴.۲۴۸: اگر سوال ۱۴.۲۲۶ کے پچر میں $a = b = 6$ اور $c = 4$ ہوں محور x کے لحاظ سے $I_x = 208$ ہو گا۔ اس پچر کا خط $y = 4,\ z = -4/3$ (پچر کے تنگ سر کے کنارہ) کے لحاظ سے جمودی معیار اثر تلاش کریں۔

کلیہ پالپر

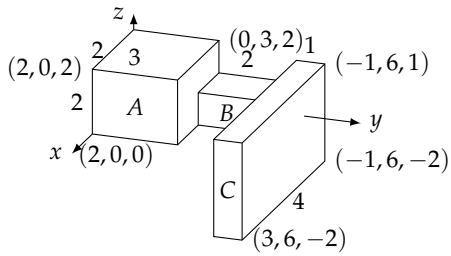

شکل ۱۴.۵۵: ٹھوس جسم برائے سوال ۱۴.۲۵۰

۲۳۰۰۷ کلیہ پاپس (حصہ ۱۴.۲ کے سوالات دیکھیں) دو بعدی صورت کے ساتھ ساتھ تین بعدی صورت کے لئے بھی کارآمد ہے۔ فرض کریں دو اجسام B_1 اور
۲۳۰۰۸ B_2 جن کی کمیتیں بالترتیب m_1 اور m_2 ہوں فضا میں ایک دوسرے کو نہ ڈھانپتے ہوئے خطوں میں پائے جاتے ہیں۔ مبدا سے ان اجسام کے مراکز کمیت
۲۳۰۰۹ تک سمتیات بالترتیب $\boldsymbol{c}_1$ اور $\boldsymbol{c}_2$ ہیں۔ تب ان کے اشتراک $B_1 \cup B_2$ کے مرکز کمیت کا تعین گر سمتیہ درج ذیل ہو گا۔

$$\boldsymbol{c} = \frac{m_1\boldsymbol{c}_1 + m_2\boldsymbol{c}_2}{m_1 + m_2} \tag{۵}$$

۲۳۰۱۰ پہلے کی طرح، اس کو **کلیہ پاپس**[۱۶] کہتے ہیں۔ دو بعدی صورت کی طرح، n عدد اجسام کے لئے اس کلیہ کی عمومی روپ درج ذیل ہو گی۔

$$\boldsymbol{c} = \frac{m_1\boldsymbol{c}_1 + m_2\boldsymbol{c}_2 + \cdots + m_n\boldsymbol{c}_n}{m_1 + m_2 + \cdots + m_n} \tag{۶}$$

۲۳۰۱۱ سوال ۱۴.۲۴۹: کلیہ پاپس (مساوات ۵) اخذ کریں۔ (اشارہ: ثُمن اول میں ایک دوسرے کو نہ ڈھانپتے ہوئے اجسام B_1 اور B_2 کا خاکہ بنا کر ان کے
۲۳۰۱۲ مراکز کمیت کو $(\bar{x}_1, \bar{y}_1, \bar{z}_1)$ اور $(\bar{x}_2, \bar{y}_2, \bar{z}_2)$ سے ظاہر کریں۔ کمیت m_1 اور m_2 اور ان کمیت کے مراکز کے محدد کی صورت میں محددی
۲۳۰۱۳ مستویات کے لحاظ سے $B_1 \cup B_2$ کے معیار اثر حاصل کریں۔)

۲۳۰۱۴

۲۳۰۱۵ سوال ۱۴.۲۵۰: مستقل کثافت $\delta = 1$ کے تین مستطیل ٹھوس اجسام سے ایک جسم حاصل کیا گیا ہے (شکل ۱۴.۵۵)۔ کلیہ پاپس استعمال کرتے
۲۳۰۱۶ ہوئے درج ذیل کے مراکز کمیت تلاش کریں۔

۲۳۰۱۷ ا. $A \cup B$ ۲۳۰۱۸ ب. $A \cup C$ ۲۳۰۱۹ ج. $B \cup C$ ۲۳۰۲۰ د. $A \cup B \cup C$

۲۳۰۲۱ سوال ۱۴.۲۵۱:

۲۳۰۲۲ ا. قد h اور رداس r کے قاعدہ کا دائری ٹھوس مخروط C، رداس a کے ٹھوس نصف کرہ S پر قلفی کی طرح جمایا گیا ہے۔ ٹھوس مخروط کا وسطانی مرکز
۲۳۰۲۳ قاعدہ سے راس کے رخ ایک چوتھائی ($\frac{1}{4}$) فاصلہ پر واقع ہے۔ نصف کرہ کے وسطانی مرکز قاعدہ سے سر کے رخ تین آٹھواں ($\frac{3}{8}$) فاصلہ دور ہے۔
۲۳۰۲۴ مشترک جسم $C \cup S$ کا مرکز مشترک قاعدہ پر رکھنے کی خاطر a اور h کے بیچ تعلق معلوم کریں۔

---

[۱۶] Pappus'sformula

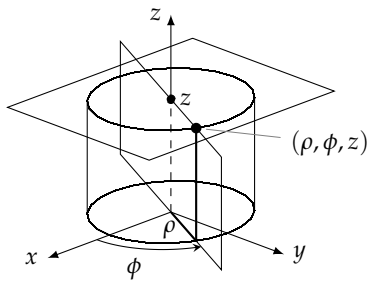

شکل ۱۴.۵۶: نلکی محدد میں مستقل محدد سطحیں۔

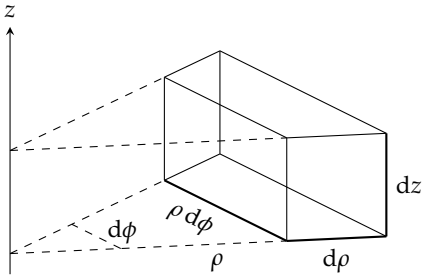

شکل ۱۴.۵۷: نلکی محدد میں چھوٹا حجم $dH = dz\rho\, d\rho\, d\phi$ ہو گا۔

۲۳۰۲۵ ب. اگر آپ نے حصہ ۱۴.۲ میں معادل سوال ۱۴.۱۲۵ کو اب تک حل نہ کیا ہو، تب اس کو حل کریں۔ دونوں کے جواب ایک سے نہیں ہیں۔

۲۳۰۲۶ سوال ۱۴.۲۵۲: ایک ٹھوس اہرام P جس کا قد h اور مماثل چار اضلاع ہیں کا قاعدہ ٹھوس مکعب C کا ایک مربعی سطح ہے جس کے اضلاع کی لمبائیاں
۲۳۰۲۷ s ہے۔ ٹھوس اہرام کا وسطانی مرکز قاعدہ سے راس کے رخ ایک چوتھائی فاصلہ پر ہے۔ ٹھوس جسم $P \cup C$ کا وسطانی مرکز اہرام کے قاعدہ پر رکھنے کی خاطر
۲۳۰۲۸ s اور h کا تعلق دریافت کریں۔ سوال ۱۴.۲۵۱ کے نتیجہ کے ساتھ موازنہ کریں۔ حصہ ۱۴.۲ میں سوال ۱۴.۱۲۶ کے نتیجہ کے ساتھ بھی موازنہ کریں۔

۲۳۰۲۹

۲۳۰۳۰ ۱۴.۶ نلکی اور کروی محدد میں تہرا تکمل

۲۳۰۳۱ انجینئری، طبیعیات اور جیومیٹری میں مخروط، بیلن یا کرہ کے ساتھ کام نلکی اور کروی محدد میں زیادہ آسان ہوتا ہے۔

۲۳۰۳۲ نلکی محدد

۲۳۰۳۳ جن بیلن کا محور z محدد پر پایا جاتا ہو اور وہ مستویات جن میں z محدد پایا جاتا ہو یا جو z محدد کے عمودی ہوں، کو نلکی محدد میں بیان کرنا نہایت آسان ہوتا ہے
۲۳۰۳۴ (شکل ۱۴.۵۶)۔

۲۳۰۳۵ جیسا ہم دیکھ چکے ہیں ان سطحوں کی مساوات مستقل محددی صورت رکھتی ہیں۔

$$\rho = 4$$
$$\phi = \frac{\pi}{3}$$
$$z = 2$$

۲۳۰۳۶ فضا میں خطہ کی نلکی محدد میں مستطیلی خانہ بندی کا ایک خانہ شکل ۱۴.۵۷ میں دکھایا گیا ہے۔ اگر z محدد سے اس خانے کی وسط تک رداس ρ ہو تب خانے کے
۲۳۰۳۷ اندرونی اور بیرونی سطحوں کے رداس بالترتیب $\rho - \frac{d\rho}{2}$ اور $\rho + \frac{d\rho}{2}$ ہوں گے۔ اس چھوٹے خانے کو نقطہ دار لکیروں سے z محدد تک بڑھا کر حجم

۲۳۰۳۸ $\frac{1}{2}(\rho+\frac{\mathrm{d}\rho}{2})^2\,\mathrm{d}\phi\,\mathrm{d}z$ حاصل ہو گا جس میں سے اضافی حجم $\frac{1}{2}(\rho-\frac{\mathrm{d}\rho}{2})^2\,\mathrm{d}\phi\,\mathrm{d}z$ منفی کر کے چھوٹے حصہ کا حجم معلوم کیا جا سکتا ہے۔

$$\begin{aligned}\mathrm{d}H &= \frac{1}{2}\left(\rho+\frac{\mathrm{d}\rho}{2}\right)^2\mathrm{d}\phi\,\mathrm{d}z-\frac{1}{2}\left(\rho-\frac{\mathrm{d}\rho}{2}\right)^2\mathrm{d}\phi\,\mathrm{d}z\\ &= \mathrm{d}z\,\rho\,\mathrm{d}\rho\,\mathrm{d}\phi\end{aligned}$$

۲۳۰۳۹ چھوٹے مستطیل خانے کی وسطی (یا اندرونی قوسی) چوڑائی $\rho\,\mathrm{d}\phi$ ، لمبائی $\mathrm{d}\rho$ اور قد $\mathrm{d}z$ لے کر

$$\mathrm{d}H = (\rho\,\mathrm{d}\phi)(\mathrm{d}\rho)(\mathrm{d}z) = \mathrm{d}z\rho\,\mathrm{d}\rho\,\mathrm{d}\phi$$

۲۳۰۴۰ حجم زیادہ آسانی سے حاصل کیا جا سکتا ہے۔ اسی طرح خانے کی سامنے (یا پشت) سطح کا رقبہ $\mathrm{d}\rho\,\mathrm{d}z$ ، نچلی (یا بالائی) سطح کا رقبہ $\rho\,\mathrm{d}\phi\,\mathrm{d}\rho$ اور قوسی
۲۳۰۴۱ (اندرونی یا بیرونی) سطح کا رقبہ $\rho\,\mathrm{d}\phi\,\mathrm{d}z$ ہو گا۔ یوں نکی محدد میں تہرا تکملات کو بطور بار ہا تکملات حل کیا جائے گا۔ ایسا اگلی مثال میں دکھایا گیا ہے۔

۲۳۰۴۲ مثال ۱۴.۲۰: خطہ D پر تفاعل $f(\rho,\phi,z)$ کی نکی محدد میں تکمل کی حدیں تلاش کریں۔ خطہ D نیچے سے مستوی $z=0$ اور اطراف سے
۲۳۰۴۳ دائری بیلن $x^2+(y-1)^2=1$ جبکہ اوپر سے قطع مکافی $z=x^2+y^2$ کے بیچ پایا جاتا ہے (شکل ۱۴.۵۸)۔

۲۳۰۴۴ حل

۲۳۰۴۵ ۱. خاکہ بنانا: D کا قاعدہ ہی مستوی xy پر D کی تظلیل R ہو گی۔ تظلیل R کی سرحد دائرہ $x^2+(y-1)^2=2$ ہو گی جس کی
۲۳۰۴۶ قطبی مساوات درج ذیل ہے۔

$$\begin{aligned}x^2+(y-1)^2&=1\\ x^2+y^2-2y+1&=1\\ \rho^2-2\rho\sin\phi&=0\\ \rho&=2\sin\phi\end{aligned}$$

۲۳۰۴۷ ۲. تکمل کی z حدیں: خطہ R میں عمومی نقطہ (ρ,ϕ) سے گزرتی ہوئی لکیر M ، جو z محدد کے متوازی ہو D میں $z=0$ پر داخل اور
۲۳۰۴۸ $z=x^2+y^2=\rho^2$ پر خارج ہو گی۔

۲۳۰۴۹ ۳. تکمل کی ρ حدیں: مبدا سے خط L جو نقطہ (ρ,ϕ) سے گزرتا ہو، R میں $\rho=0$ پر داخل اور $\rho=2\sin\phi$ پر خارج ہو گا۔

۲۳۰۵۰ ۴. تکمل کی ϕ حدیں: خط L جھاڑو کی طرح R کو جھاڑتے ہوئے مثبت x محور کے ساتھ $\phi=0$ اور $\phi=\pi$ کے بیچ رہتا ہے۔

۲۳۰۵۱ یوں تکمل درج ذیل ہو گا۔

$$\iiint\limits_D f(\rho,\phi,z)\,\mathrm{d}H = \int_0^{\pi}\int_0^{2\sin\phi}\int_0^{\rho^2} f(\rho,\phi,z)\,\mathrm{d}z\,\rho\,\mathrm{d}\rho\,\mathrm{d}\phi$$

۲۳۰۵۲ □

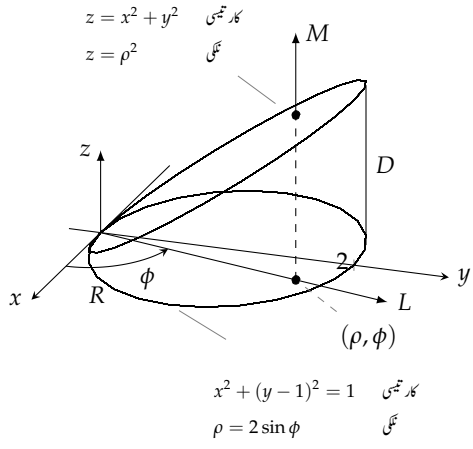

شکل ۱۴.۵۸: جسم برائے مثال ۱۴.۲۰

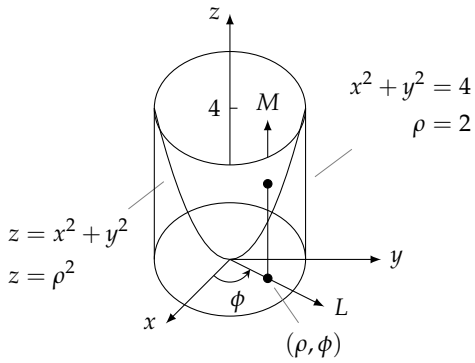

شکل ۱۴.۵۹: جسم برائے مثال ۱۴.۲۱

۲۳۰۵۳ اس مثال میں ہم نے نلکی محدد میں تکمل کی حدیں تلاش کرنا سیکھا۔

۲۳۰۵۴ مثال ۱۴.۲۱: بیلن $x^2 + y^2 = 4$ میں بند ٹھوس جسم جو اوپر سے قطع مکافی سطح $z = x^2 + y^2$ اور نیچے سے مستوی xy کے بیچ پایا جاتا ہو، کا
۲۳۰۵۵ وسطانی مرکز تلاش کریں (شکل ۱۴.۲۱)۔ ٹھوس جسم کی کثافت $\delta = 1$ ہے۔

۲۳۰۵۶ حل

۲۳۰۵۷ ہم اوپر سے قطع مکافی $z = \rho^2$ اور نیچے سے مستوی $z = 0$ میں ملفوف ٹھوس جسم کا خاکہ بناتے ہیں۔ اس کا قاعدہ R مستوی xy میں قرص $|\rho| \leq 2$
۲۳۰۵۸ ہو گا۔

۲۳۰۵۹ ٹھوس جسم کا وسطانی مرکز تشاکلی محور پر ہو گا جو محور z ہے۔ یوں $\bar{x} = \bar{y} = 0$ ہو گا۔ ہم معیار اثر M_{xy} کو کمیت M سے تقسیم کر کے $\bar{z}$ تلاش
۲۳۰۶۰ کرتے ہیں۔

۲۳۰۶۱ کمیت اور معیار اثر کے تکملات کی حدیں تلاش کرنے کی خاطر ہم وہی چار مخصوص قدم لیتے ہیں۔ خاکہ بنا کر ہم پہلا قدم مکمل کر چکے ہیں۔ باقی اقدام درج ذیل
۲۳۰۶۲ ہیں۔

۲۳۰۶۳ ۲. تکمل کی z حدیں: علامتی نقطہ (ρ, ϕ) سے گزرتی ہوئی، محدد z کی متوازی لکیر M، ٹھوس جسم میں $z = 0$ سے داخل اور $z =$
۲۳۰۶۴ ρ^2 سے خارج ہو گی۔

۲۳۰۶۵ ۳. تکمل کی ρ حدیں: مبدا سے شروع نقطہ ρ, ϕ سے گزرتی ہوئی لکیر L خطہ R میں $\rho = 0$ سے داخل اور $\rho = 2$ سے خارج ہو
۲۳۰۶۶ گی۔

۲۳۰۶۷ ۴. تکمل کی ϕ حدیں: لکیر L قاعدہ پر گھڑی کی سوئی کی طرح گھومتی ہوئی $\phi = 0$ سے $\phi = 2\pi$ تک طے کرتی ہے۔

۲۳۰۶۸ یوں M_{xy} کی قیمت

$$\begin{aligned} M_{xy} &= \int_0^{2\pi}\int_0^2\int_0^{\rho^2} z\,\mathrm{d}z\,\rho\,\mathrm{d}\rho\,\mathrm{d}\phi = \int_0^{2\pi}\int_0^2 \left[\frac{z^2}{2}\right]_0^{\rho^2}\rho\,\mathrm{d}\rho\,\mathrm{d}\phi \\ &= \int_0^{2\pi}\int_0^2 \frac{\rho^5}{2}\,\mathrm{d}\rho\,\mathrm{d}\phi = \int_0^{2\pi}\left[\frac{\rho^6}{12}\right]_0^{\rho^2}\mathrm{d}\phi = \int_0^{2\pi}\frac{16}{3}\,\mathrm{d}\phi = \frac{32\pi}{3} \end{aligned}$$

۲۳۰۶۹ اور M کی قیمت

$$\begin{aligned} M &= \int_0^{2\pi}\int_0^2\int_0^{\rho^2} \mathrm{d}z\,\rho\,\mathrm{d}\rho\,\mathrm{d}\phi = \int_0^{2\pi}\int_0^2 \left[z\right]_0^{\rho^2}\rho\,\mathrm{d}\rho\,\mathrm{d}\phi \\ &= \int_0^{2\pi}\int_0^2 \rho^3\,\mathrm{d}\rho\,\mathrm{d}\phi = \int_0^{2\pi}\left[\frac{\rho^4}{4}\right]_0^2\mathrm{d}\phi = \int_0^{2\pi} 4\,\mathrm{d}\phi = 8\pi \end{aligned}$$

۲۳۰۷۰ ہو گی لہٰذا

$$\bar{z} = \frac{M_{xy}}{M} = \frac{32\pi}{3}\frac{1}{8\pi} = \frac{4}{3}$$

۲۳۰۷۱ ہو گا۔ وسطانی مرکز $(0,0,4/3)$ ہو گا جو ٹھوس جسم سے باہر ہے۔ □

۲۳۰۷۲ نلکی محدد میں تکمل کی قیمت کا حصول

۲۳۰۷۳ فضا میں خطہ D پر تکمل

$$\iiint_D f(\rho,\phi,z)\,\mathrm{d}H$$

۲۳۰۷۴ کی قیمت حاصل کرتے ہوئے نلکی محدد میں پہلے z، اس کے بعد ρ اور آخر میں ϕ کے لحاظ سے تکمل لیتے ہوئے درج ذیل اقدام کرنے ہوں گے۔

۲۳۰۷۵ ۱. خاکہ: خطہ D اور مستوی xy پر اس کی تظلیل R کا خاکہ بنائیں۔ D اور R کی سرحدی سطحوں اور منحنیات کی نشاندہی کریں (شکل ۱۴.۶۰-
۲۳۰۷۶ ا)۔

۲۳۰۷۷ ۲. تکمل کی z حدیں: R میں علامتی نقطہ (ρ,ϕ) پر محور z کے متوازی ایک علامتی لکیر M کھینچیں جو بڑھ کر D میں $z = g_1(\rho,\phi)$
۲۳۰۷۸ سے داخل اور $z = g_2(\rho,\phi)$ سے خارج ہو گی (شکل ۱۴.۶۰-ب)۔ یہی تکمل کی z حدیں ہوں گی۔

۲۳۰۷۹ ۳. تکمل کی ρ حدیں: مبدا سے ایک لکیر L کھینچیں جو نقطہ (ρ,ϕ) سے گزرتی ہو۔ یہ شعاع خطہ R میں $\rho = h_1(\phi)$ سے داخل اور
۲۳۰۸۰ $\rho = h_2(\phi)$ سے خارج ہو گی (شکل ۱۴.۶۰-ج)۔ یہی تکمل کی ρ حدیں ہوں گی۔

۲۳۰۸۱ ۴. تکمل کی ϕ حدیں: لکیر L خطہ R کو جھاڑتے ہوئے مثبت x محور کے ساتھ زاویہ $\phi = \alpha$ اور $\phi = \beta$ کے بیچ رہتی ہے (شکل ۱۴.۶۰-
۲۳۰۸۲ ج)۔ یہی تکمل کی ϕ حدیں ہوں گی۔

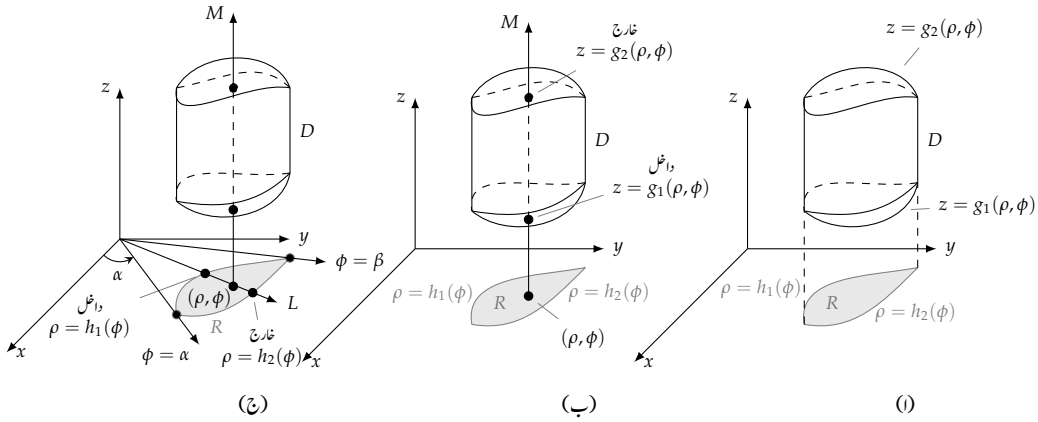

شکل ۱۴.۶۰: نلکی محدد میں تہرا تکمل کی حدوں کا تعین۔

۲۳۰۸۳ یوں تکمل درج ذیل ہو گا۔

$$\iiint\limits_D f(\rho, \phi, z)\, \mathrm{d}H = \int_{\phi=\alpha}^{\phi=\beta} \int_{\rho=h_1(\phi)}^{\rho=h_2(\phi)} \int_{z=g_1(\rho,\phi)}^{z=g_2(\rho,\phi)} f(\rho, \phi, z)\, \mathrm{d}z\, \rho\, \mathrm{d}\rho\, \mathrm{d}\phi \tag{ا}$$

۲۳۰۸۴ کروی محدد

۲۳۰۸۵ ایسے کرہ جن کے مراکز مبدا پر ہوں، وہ نصف چادر جن کا چول محور z ہو، اور وہ مخروط جن کا راس مبدا پر اور محور محددی نظام کے محور z پر ہو، کو کروی محدد
۲۳۰۸۶ (شکل ۱۴.۶۱) میں بیان کرنا زیادہ آسان ہوتا ہے۔ ان سطحوں کی مساواتیں درج ذیل ہوں گی۔ اس نظام میں کسی بھی نقطہ $N(r_0, \theta_0, \phi_0)$ کے محدد
۲۳۰۸۷ (r_0, θ_0, ϕ_0)، آپس میں عمودی تین سطحوں $r = r_0$ ، $\theta = \theta_0$ ، $\phi = \phi_0$ کا نقطہ ملاپ ہو گا (شکل ۱۴.۶۲)۔

$r = 4$	کرہ، جس کا رداس 4 اور مرکز مبدا پر ہے
$\theta = \dfrac{\pi}{3}$	مبدا سے اوپر رخ کھلتا ہوا مخروط جو مثبت z محور کے ساتھ $\pi/3$ زاویہ بناتا ہے
$\phi = \dfrac{\pi}{3}$	نصف چادر جس کا چول محور z ہے اور جو مثبت x محور کے ساتھ $\pi/3$ زاویہ بناتا ہے

۲۳۰۸۸

۲۳۰۸۹ کروی محدد میں چھوٹے مستطیل حجم سے مراد وہ **کروی پچر**[۱۷] ہے جس کو $\mathrm{d}r$ ، $\mathrm{d}\theta$ اور $\mathrm{d}\phi$ تعین کرتے ہیں۔ یہ پچر تقریباً مستطیلی ہو گا جس کے ایک
۲۳۰۹۰ اطراف کی قوسی لمبائی $r\,\mathrm{d}\theta$ ، دوسرے طرف کی قوسی لمبائی $r \sin\theta\, \mathrm{d}\phi$ اور موٹائی $\mathrm{d}r$ ہو گی۔ یوں کروی محدد میں چھوٹے ٹکڑے کا حجم $\mathrm{d}H$
۲۳۰۹۱ (شکل ۱۴.۶۳)

$$\mathrm{d}H = (\mathrm{d}r)(r \sin\theta\, \mathrm{d}\phi)(r\, \mathrm{d}\theta) = r^2 \sin\theta\, \mathrm{d}r\, \mathrm{d}\theta\, \mathrm{d}\phi \tag{۲}$$

---

[۱۷] spherical wedge

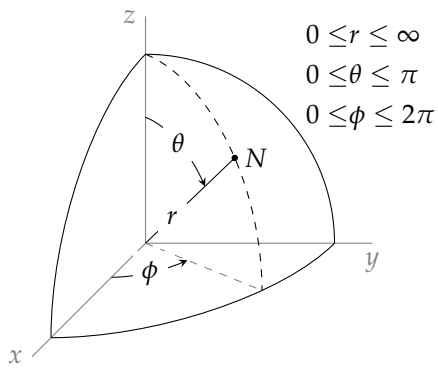

شکل ۱۴.۶۱: کروی محدد کی پیمائش ایک فاصلہ اور دو زاویات کی مدد سے کی جاتی ہے۔

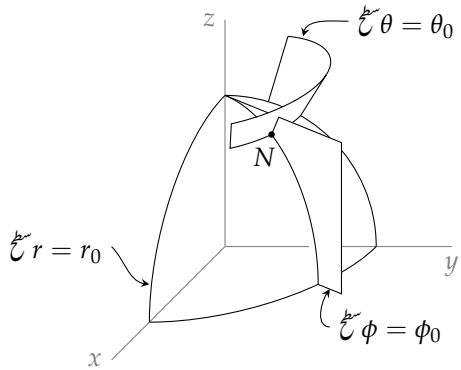

شکل ۱۴.۶۲: کروی محدد میں تین آپس میں عمودی سطحیں نقطہ N تعین کرتے ہیں۔

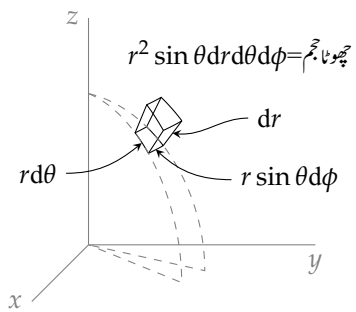

شکل ۱۴.۶۳: کروی محدد میں چھوٹا حجم۔

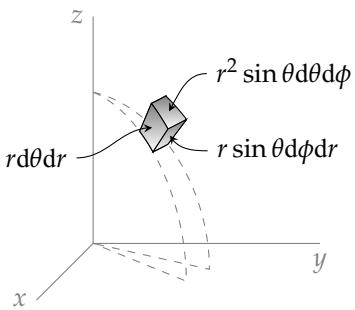

شکل ۱۴.۶۴: کروی محدد میں چھوٹی سطحیں۔

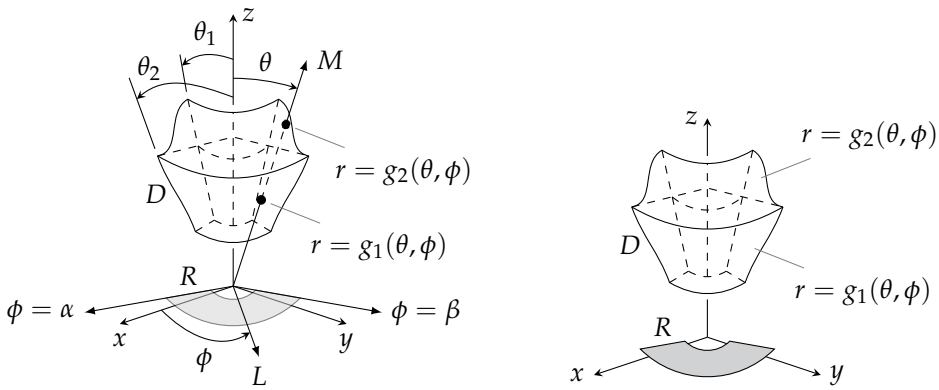

شکل ۱۴.۶۵: کروی محدد میں تہرا تکمل کی حدوں کی تلاش۔

۲۳۰۹۲ ہو گا اور تہرا تکمل کی صورت درج ذیل ہو گی۔

$$\iiint F(r, \theta, \phi)\, \mathrm{d}H = \iiint F(r, \theta, \phi) r^2 \sin\theta\, \mathrm{d}r\, \mathrm{d}\theta\, \mathrm{d}\phi$$

۲۳۰۹۳ ہم عموماً پہلے r کے لحاظ سے تکمل لیتے ہیں۔ ہم صرف ان تکملات پر غور کریں گے جو z محور کے لحاظ سے اجسام طواف (یا ان کا حصہ) ہوں اور جن کے θ اور
۲۳۰۹۴ ϕ حدیں مستقل ہوں۔

۲۳۰۹۵ اس مستطیلی پچر کی سطحیں شکل ۱۴.۶۴ میں دکھائی گئی ہیں۔

۲۳۰۹۶ کروی محدد میں تکمل کی قیمت کا حصول

۲۳۰۹۷ فضا میں خطہ D پر تکمل

$$\iiint_D F(r, \theta, \phi)\, \mathrm{d}H$$

۲۳۰۹۸ کی قیمت حاصل کرتے ہوئے پہلے r، اس کے بعد θ، اور آخر میں ϕ کے لحاظ سے تکمل لیتے ہوئے ہمیں درج ذیل اقدام کرنے ہوں گے۔

۲۳۰۹۹ ۱. خاکہ: خطہ D اور مستوی xy میں D کی تظلیل R کا خاکہ بنا کر D کی سرحدی سطحوں کی نشاندہی کریں (شکل ۱۴.۶۵)۔

۲۳۱۰۰ ۲. تکمل کی r حدیں: مبدا سے ایک لکیر M کھینچیں جو مثبت محور z کے ساتھ زاویہ ϕ بناتی ہو۔ ساتھ ہی R پر M کی تظلیل L کا خاکہ بنائیں جو
۲۳۱۰۱ مثبت x محور کے ساتھ زاویہ ϕ بنائی گی۔ جیسے جیسے r بڑھے گا M خطہ D میں $r = g_1(\theta, \phi)$ سے داخل اور $r = g_2(\theta, \phi)$
۲۳۱۰۲ سے خارج ہو گی۔ یہی تکمل کی r حدیں ہوں گی۔

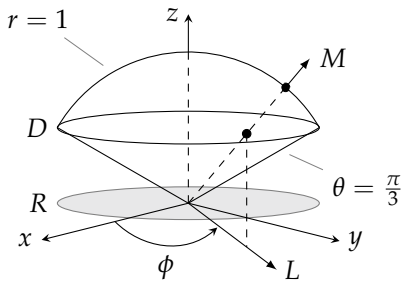

شکل ۱۴.۶۶: کرہ اور مخروط کے بیچ خطہ۔

۳۳۱۰۳ ۳. تکمل کی ϕ حدیں: کسی بھی مخصوص ϕ کے لئے M مثبت محور z کے ساتھ $\theta = \theta_1$ سے $\theta = \theta_2$ تک زاویہ بنائے گی۔ یہی تکمل کی
۳۳۱۰۴ θ حدیں ہوں گی۔

۳۳۱۰۵ ۴. تکمل کی ϕ حدیں: کسی بھی مخصوص ϕ کے لئے L خطہ R پر جھاڑو کی طرح چلتے ہوئے $\phi = \alpha$ سے $\phi = \beta$ تک چلتی ہے۔ یہی تکمل
۳۳۱۰۶ کی ϕ حدیں ہوں گی۔

۳۳۱۰۷ یوں تکمل درج ذیل ہو گا۔

$$\iiint\limits_D F(r,\theta,\phi)\,\mathrm{d}H = \int_{\phi=\alpha}^{\phi=\beta}\int_{\theta_1}^{\theta_2}\int_{r=g_1(\theta,\phi)}^{r=g_2(\theta,\phi)} F(r,\theta,\phi) r^2 \sin\theta\,\mathrm{d}r\,\mathrm{d}\theta\,\mathrm{d}\phi$$

۳۳۱۰۸ مثال ۱۴.۲۲: ٹھوس کرہ $r \leq 1$ سے مخروط $\theta = \pi/3$ بالائی خطہ D کاٹتا ہے۔ اس خطہ کا حجم تلاش کریں۔ حل: اس خطے کا حجم
۳۳۱۰۹ $\iiint\limits_D r^2 \sin\theta\,\mathrm{d}r\,\mathrm{d}\theta\,\mathrm{d}\phi$ ہو گا۔ تکمل کی قیمت معلوم کرنے کے لئے درج ذیل اقدام کرنے ہوں گے۔

۳۳۱۱۰ ۱. خاکہ: ہم D اور مستوی xy میں اس کی تظلیل R کا خاکہ بناتے ہیں (شکل ۱۴.۶۶)۔

۳۳۱۱۱ ۲. تکمل کی r حدیں: ہم مثبت z محور کے ساتھ θ زاویہ پر مبدا سے شعاع M کھینچتے ہیں اور ساتھ ہی xy مستوی میں اس کی تظلیل L کھینچتے ہیں
۳۳۱۱۲ جو مثبت x محور کے ساتھ زاویہ ϕ بناتا ہے۔ شعاع M خطہ D میں ($r = 0$ سے داخل اور $r = 1$ سے خارج ہو گا۔

۳۳۱۱۳ ۳. تکمل کی θ حدیں: مخروط $\theta = \pi/3$ مثبت z محور کے ساتھ زاویہ $\pi/3$ بناتا ہے۔ یوں شعاع M زاویہ $\theta = 0$ سے $\theta =$
۳۳۱۱۴ $\pi/3$ تک چل سکتی ہے۔

۳۳۱۱۵ ۴. تکمل کی ϕ حدیں: شعاع L خطہ R پر $\phi = 0$ سے 2π تک چلتی ہے۔

۲۳۱۱۶ یوں تکمل درج ذیل ہو گا۔

$$\begin{aligned}
H &= \iiint\limits_D r^2 \sin\theta \,\mathrm{d}r\,\mathrm{d}\theta\,\mathrm{d}\phi = \int_0^{2\pi}\int_0^{\pi/3}\int_0^1 r^2\sin\theta\,\mathrm{d}r\,\mathrm{d}\theta\,\mathrm{d}\phi \\
&= \int_0^{2\pi}\int_0^{\pi/3}\left[\frac{r^3}{3}\right]_0^1 \sin\theta\,\mathrm{d}\theta\,\mathrm{d}\phi = \int_0^{2\pi}\int_0^{\pi/3}\frac{1}{3}\sin\theta\,\mathrm{d}\theta\,\mathrm{d}\phi \\
&= \int_0^{2\pi}\left[-\frac{1}{3}\cos\theta\right]_0^{\pi/3}\mathrm{d}\phi = \int_0^{2\pi}\left(-\frac{1}{6}+\frac{1}{3}\right)\mathrm{d}\phi = \frac{1}{6}(2\pi) = \frac{\pi}{3}
\end{aligned}$$

۲۳۱۱۷ □

۲۳۱۱۸ مثال ۱۴.۲۳: مستقل کثافت $\delta = 1$ کا ایک ٹھوس جسم مثال ۱۴.۲۲ کے خطہ D میں پایا جاتا ہے۔ محور z کے لحاظ سے اس جسم کا جمودی معیار اثر
۲۳۱۱۹ تلاش کریں۔

۲۳۱۲۰ حل: کارتیسی محدد میں جمودی معیار اثر

$$I_z = \iiint (x^2+y^2)\,\mathrm{d}H$$

۲۳۱۲۱ ہو گا۔ کروی محدد میں $x^2+y^2 = (r\sin\theta\cos\phi)^2 + (r\sin\theta\sin\phi)^2 = r^2\sin^2\theta$ کی وجہ سے جمودی معیار اثر

$$I_z = \iiint (r^2\sin^2\theta) r^2 \sin\theta\,\mathrm{d}r\,\mathrm{d}\theta\,\mathrm{d}\phi = \iiint r^4\sin^3\theta\,\mathrm{d}r\,\mathrm{d}\theta\,\mathrm{d}\phi$$

۲۳۱۲۲ ہو گا جس کی قیمت مثال ۱۴.۲۲ کے خطہ کے لئے درج ذیل ہو گی۔

$$\begin{aligned}
I_z &= \int_0^{2\pi}\int_0^{\pi/3}\int_0^1 r^4\sin^3\theta\,\mathrm{d}r\,\mathrm{d}\theta\,\mathrm{d}\phi = \int_0^{2\pi}\int_0^{\pi/3}\left[\frac{r^5}{5}\right]_0^1 \sin^3\theta\,\mathrm{d}\theta\,\mathrm{d}\phi \\
&= \frac{1}{5}\int_0^{2\pi}\int_0^{\pi/3}(1-\cos^2\theta)\sin\theta\,\mathrm{d}\theta\,\mathrm{d}\phi = \frac{1}{5}\int_0^{2\pi}\left[-\cos\theta+\frac{\cos^3\theta}{3}\right]_0^{\pi/3}\mathrm{d}\phi \\
&= \frac{1}{5}\int_0^{2\pi}\left(-\frac{1}{2}+1+\frac{1}{24}-\frac{1}{3}\right)\mathrm{d}\phi = \frac{1}{5}\int_0^{2\pi}\frac{5}{24}\,\mathrm{d}\phi = \frac{1}{24}(2\pi) = \frac{\pi}{12}
\end{aligned}$$

۲۳۱۲۳ □

۲۳۱۲۴ ## محددی بدل کے کلیات

۲۳۱۲۵

۲۳۱۲۶

کروی سے نلکی	کروی سے کارتیسی	نلکی سے کارتیسی
$\rho = r\sin\theta$	$x = r\sin\theta\cos\phi$	$x = \rho\cos\phi$
$z = r\cos\theta$	$y = r\sin\theta\sin\phi$	$y = \rho\sin\phi$
$\phi = \phi$	$z = r\cos\theta$	$z = z$

۳۳۱۲۷ مطابقتی چھوٹے حجم درج ذیل ہیں۔

$$\begin{aligned} \mathrm{d}H &= \mathrm{d}x\,\mathrm{d}y\,\mathrm{d}z && \text{کارتیسی} \\ &= \mathrm{d}z\,\rho\,\mathrm{d}\rho\,\mathrm{d}\phi && \text{نلکی} \\ &= r^2\sin\theta\,\mathrm{d}r\,\mathrm{d}\theta\,\mathrm{d}\phi && \text{کروی} \end{aligned}$$

۳۳۱۲۸ **سوالات**

۳۳۱۲۹ **نلکی محدد**

۳۳۱۳۰ سوال ۱۴.۲۵۳ تا سوال ۱۴.۲۵۸ میں تکمل کی قیمت نلکی محدد استعمال کرتے ہوئے تلاش کریں۔

۳۳۱۳۱ سوال ۱۴.۲۵۳: $\int_0^{2\pi}\int_0^1\int_\rho^{\sqrt{2-\rho^2}}\mathrm{d}z\,\rho\,\mathrm{d}\rho\,\mathrm{d}\phi$

۳۳۱۳۲ سوال ۱۴.۲۵۴: $\int_0^{2\pi}\int_0^3\int_{\rho^2/3}^{\sqrt{18-\rho^2}}\mathrm{d}z\,\rho\,\mathrm{d}\rho\,\mathrm{d}\phi$

۳۳۱۳۳ سوال ۱۴.۲۵۵: $\int_0^{2\pi}\int_0^{\phi/2\pi}\int_0^{3+24\rho^2}\mathrm{d}z\,\rho\,\mathrm{d}\rho\,\mathrm{d}\phi$

۳۳۱۳۴ سوال ۱۴.۲۵۶: $\int_0^{\pi}\int_0^{\phi/\pi}\int_{-\sqrt{4-\rho^2}}^{3\sqrt{4-\rho^2}}z\,\mathrm{d}z\,\rho\,\mathrm{d}\rho\,\mathrm{d}\phi$

۳۳۱۳۵ سوال ۱۴.۲۵۷: $\int_0^{2\pi}\int_0^1\int_\rho^{1/\sqrt{2-\rho^2}}3\,\mathrm{d}z\,\rho\,\mathrm{d}\rho\,\mathrm{d}\phi$

۳۳۱۳۶ سوال ۱۴.۲۵۸: $\int_0^{2\pi}\int_0^1\int_{-1/2}^{1/2}(\rho^2\sin^2\phi+z^2)\,\mathrm{d}z\,\rho\,\mathrm{d}\rho\,\mathrm{d}\phi$

۳۳۱۳۷ اب تک ہم نلکی محدد کی تکملات کو پسندیدہ ترتیب z ، ρ ، ϕ سے حل کرتے آرہے ہیں۔ بعض اوقات دیگر ترتیبات سے تکمل کا حل زیادہ آسان ہوتا ہے۔

۳۳۱۳۸ سوال ۱۴.۲۵۹ تا سوال ۱۴.۲۶۲ کے تکملات کی قیمت تلاش کریں۔

۳۳۱۳۹ سوال ۱۴.۲۵۹: $\int_0^{2\pi}\int_0^3\int_0^{z/3}\rho^3\,\mathrm{d}\rho\,\mathrm{d}z\,\mathrm{d}\phi$

۳۳۱۴۰ سوال ۱۴.۲۶۰: $\int_{-1}^1\int_0^{2\pi}\int_0^{1+\cos\phi}4\rho\,\mathrm{d}\rho\,\mathrm{d}\rho\,\mathrm{d}z$

۳۳۱۴۱ سوال ۱۴.۲۶۱: $\int_0^1\int_0^{\sqrt{z}}\int_0^{2\pi}(\rho^2\cos^2\phi+z^2)\rho\,\mathrm{d}\phi\,\mathrm{d}\rho\,\mathrm{d}z$

۳۳۱۴۲ سوال ۱۴.۲۶۲: $\int_0^2\int_{\rho-2}^{\sqrt{4-\rho^2}}\int_0^{2\pi}(\rho\sin\phi+1)\rho\,\mathrm{d}\phi\,\mathrm{d}z\,\mathrm{d}\rho$

۳۳۱۴۳ سوال ۱۴.۲۶۳: نیچے سے مستوی $z=0$ ، اوپر سے کرہ $x^2+y^2+z^2=4$ ، اور اطراف سے بیلن $x^2+y^2=1$ میں خطہ D

۳۳۱۴۴ ملفوف ہے۔ نلکی محدد میں خطہ D کا حجم معلوم کرنے کے لئے تہرا تکمل درج ذیل تکمل کی ترتیب کے لئے لکھیں۔

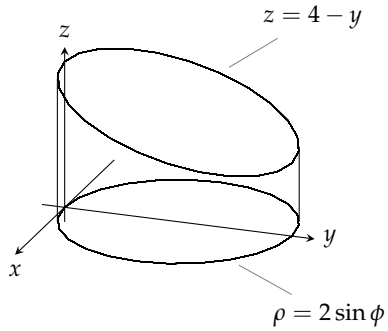

شکل ۱۴.۶۷: خطہ برائے سوال ۱۴.۲۶۷

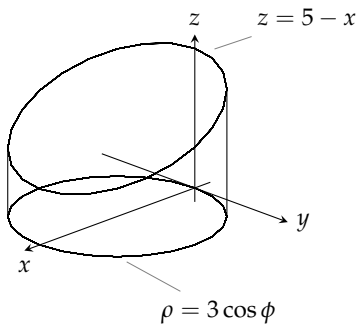

شکل ۱۴.۶۸: خطہ برائے سوال ۱۴.۲۶۸

۲۳۱۴۵ ا. $\mathrm{d}z\,\mathrm{d}\rho\,\mathrm{d}\phi$ ۲۳۱۴۶ ب. $\mathrm{d}\rho\,\mathrm{d}z\,\mathrm{d}\phi$ ۲۳۱۴۷ ج. $\mathrm{d}\phi\,\mathrm{d}z\,\mathrm{d}\rho$

۲۳۱۴۸ سوال ۱۴.۲۶۴: نیچے سے مخروط $z = \sqrt{x^2 + y^2}$، اوپر سے قطع مکافی $z = 2 - x^2 - y^2$ میں خطہ D ملفوف ہے۔ نلکی محدد میں
۲۳۱۴۹ خطہ D کا حجم معلوم کرنے کے لئے تہرا تکمل درج ذیل تکمل کی ترتیب کے لئے لکھیں۔

۲۳۱۵۰ ا. $\mathrm{d}z\,\mathrm{d}\rho\,\mathrm{d}\phi$ ۲۳۱۵۱ ب. $\mathrm{d}\rho\,\mathrm{d}z\,\mathrm{d}\phi$ ۲۳۱۵۲ ج. $\mathrm{d}\phi\,\mathrm{d}z\,\mathrm{d}\rho$

۲۳۱۵۳ سوال ۱۴.۲۶۵: نیچے سے مستوی $z = 0$، اطراف سے بیلن $\rho = \cos\phi$، اور اوپر سے قطع مکافی سطح $z = 3\rho^2$ میں ملفوف خطہ D
۲۳۱۵۴ کے لئے درج ذیل تکمل کی قیمت تلاش کرنے کے لئے کے تکمل کی حدیں معلوم کریں۔

$$\iiint F(\rho, \phi, z)\,\mathrm{d}z\,\rho\,\mathrm{d}\rho\,\mathrm{d}\phi$$

۲۳۱۵۵ سوال ۱۴.۲۶۶: درج ذیل تکمل کو معادل نلکی محدد کے تکمل میں تبدیل کر اس کی قیمت تلاش کریں۔

$$\int_{-1}^{1}\int_{0}^{\sqrt{1-y^2}}\int_{0}^{x}(x^2 + y^2)\,\mathrm{d}z\,\mathrm{d}x\,\mathrm{d}y$$

۲۳۱۵۶

۲۳۱۵۷ سوال ۱۴.۲۶۷ تا سوال ۱۴.۲۷۲ میں دیے گئے خطہ D پر تکمل $\iiint_D F(\rho, \phi, z)\,\mathrm{d}z\,\rho\,\mathrm{d}\rho\,\mathrm{d}\phi$ کی قیمت حاصل کرنے کے لئے تہرا تکمل
۲۳۱۵۸ لکھیں۔

۲۳۱۵۹ سوال ۱۴.۲۶۷: وہ قائمہ دائری بیلن جس کا قاعدہ مستوی xy میں دائرہ $\rho = 2\sin\phi$ اور سر مستوی $z = 4 - y$ میں ہو، خطہ D ہے
۲۳۱۶۰ (شکل ۱۴.۶۷)۔

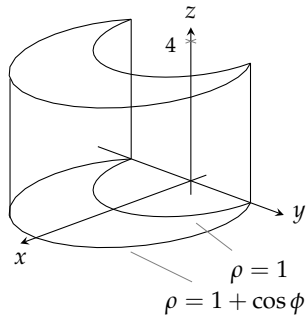

شکل ۱۴.۶۹: خطہ برائے سوال ۱۴.۲۶۹

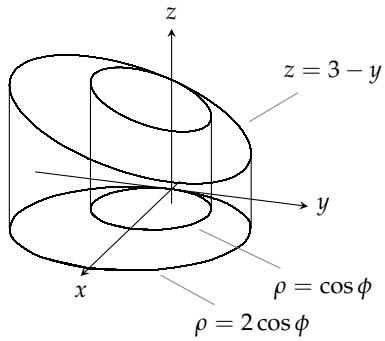

شکل ۱۴.۷۰: خطہ برائے سوال ۱۴.۲۷۰

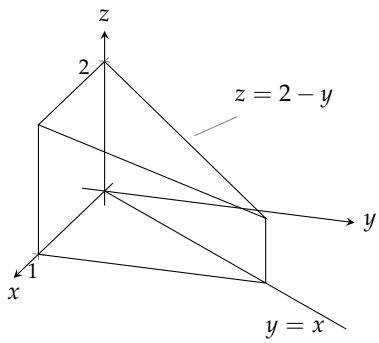

شکل ۱۴.۷۱: خطہ برائے سوال ۱۴.۲۷۱

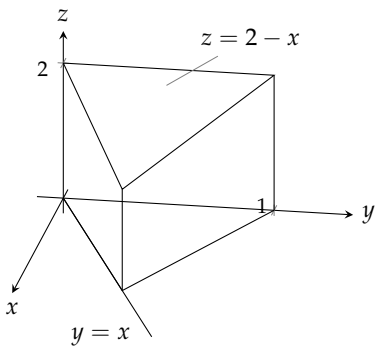

شکل ۱۴.۷۲: خطہ برائے سوال ۱۴.۲۷۲

سوال ۱۴.۲۶۸: وہ قائمہ دائری بیلن جس کا قاعدہ مستوی xy میں دائرہ $\rho = 3\cos\phi$ اور سر مستوی $z = 5 - x$ میں ہو، خطہ D ہے (شکل ۱۴.۶۸)۔

سوال ۱۴.۲۶۹: وہ قائمہ دائری بیلن جس کا قاعدہ مستوی xy میں قلب نما $\rho = 1 + \cos\phi$ کے اندر اور دائرہ $\rho = 1$ کے باہر اور سر مستوی $z = 4$ میں ہو، خطہ D ہے (شکل ۱۴.۶۹)۔

سوال ۱۴.۲۷۰: وہ ٹھوس قائمہ بیلن جس کا قاعدہ دائرہ $\rho = \cos\phi$ اور دائرہ $\rho = 2\cos\phi$ کے بیچ اور سر مستوی $z = 3 - y$ میں ہو، خطہ D ہے (شکل ۱۴.۷۰)۔

سوال ۱۴.۲۷۱: وہ منشور جس کا قاعدہ مستوی xy میں محور x، لکیر $y = x$ اور لکیر $x = 1$ کے بیچ مثلث اور سر مستوی $z = 2 - y$ میں ہو، خطہ D ہے (شکل ۱۴.۷۱)۔

سوال ۱۴.۲۷۲: وہ منشور جس کا قاعدہ مستوی xy میں محور y، لکیر $y = x$ اور لکیر $y = 1$ کے بیچ مثلث اور سر مستوی $z = 2 - x$ میں ہو، خطہ D ہے (شکل ۱۴.۷۲)۔

کروی محدد

سوال ۱۴.۲۷۳ تا سوال ۱۴.۲۷۸ میں کروی تکملات کی قیمت تلاش کریں۔

سوال ۱۴.۲۷۳: $\int_0^{\pi} \int_0^{\pi} \int_0^{2\sin\theta} r^2 \sin\theta \, dr \, d\theta \, d\phi$

سوال ۱۴.۲۷۴: $\int_0^{2\pi} \int_0^{\pi/4} \int_0^{2} (r\cos\theta) r^2 \sin\theta \, dr \, d\theta \, d\phi$

سوال ۱۴.۲۷۵: $\int_0^{2\pi} \int_0^{\pi} \int_0^{(1-\cos\theta)/2} r^2 \sin\theta \, dr \, d\theta \, d\phi$

سوال ۱۴.۲۷۶: $\int_0^{3\pi/2} \int_0^{\pi} \int_0^{1} 5r^3 \sin^3\theta \, dr \, d\theta \, d\phi$

سوال ۱۴.۲۷۷: $\int_0^{2\pi} \int_0^{\pi/3} \int_{\sec\theta}^{2} 3r^2 \sin\theta \, dr \, d\theta \, d\phi$

سوال ۱۴.۲۷۸: $\int_0^{2\pi} \int_0^{\pi/4} \int_0^{\sec\theta} (r\cos\theta) r^2 \sin\theta \, dr \, d\theta \, d\phi$

اب تک ہم کروی محدد کی تکملات کو پسندیدہ ترتیب سے حل کرتے آرہے ہیں۔ بعض اوقات دیگر ترتیبات سے تکمل کا حل زیادہ آسان ہوتا ہے۔ سوال ۱۴.۲۷۹ تا سوال ۱۴.۲۸۲ میں تکملات کی قیمت تلاش کریں۔

سوال ۱۴.۲۷۹: $\int_0^{2} \int_{-\pi}^{0} \int_{\pi/4}^{\pi/2} r^3 \sin 2\theta \, d\theta \, d\phi \, dr$

سوال ۱۴.۲۸۰: $\int_{\pi/6}^{\pi/3} \int_{\csc\theta}^{2\csc\theta} \int_0^{2\pi} r^2 \sin\theta \, d\phi \, dr \, d\theta$

سوال ۱۴.۲۸۱: $\int_0^{1} \int_0^{\pi} \int_0^{\pi/4} 12r \sin^3\theta \, d\theta \, d\phi \, dr$

سوال ۱۴.۲۸۲: $\int_{\pi/6}^{\pi/2} \int_{-\pi/2}^{\pi/2} \int_{\csc\theta}^{2} 5r^4 \sin^3\theta \, dr \, d\phi \, d\theta$

سوال ۱۴.۲۸۳: کروی محدد میں (ا) $dr \, d\theta \, d\phi$، (ب) $d\theta \, dr \, d\phi$ ترتیب سے سوال ۱۴.۲۶۳ کے خطہ کے حجم کے تہرا تکمل لکھیں۔

سوال ۱۴.۲۸۴: نیچے سے مخروط $z = \sqrt{x^2 + y^2}$ اور اوپر سے مستوی $z = 1$ کے بیچ خطہ D کے حجم کا تکمل کروی محدد میں (ا) $dr \, d\theta \, d\phi$، (ب) $d\theta \, dr \, d\phi$ ترتیب کے لئے لکھیں۔

سوال ۱۴.۲۸۵ تا سوال ۱۴.۲۹۰ میں دئے گئے ٹھوس جس کے حجم کے کروی تکمل (ا) کی حدیں تلاش کریں۔ (ب) کروی تکمل حل کرتے ہوئے جسم کا حجم معلوم کریں۔

سوال ۱۴.۲۸۵: کرہ $r = \cos\theta$ اور نصف کرہ $r = 2, \ z \geq 0$ کے بیچ ٹھوس جسم (شکل ۱۴.۷۳)۔

سوال ۱۴.۲۸۶: نیچے سے نصف کرہ $r = 1, \ z \geq 0$ اور اوپر سے سطح طواف قلب نما $r = 1 + \cos\theta$ میں ملفوف ٹھوس جسم (شکل ۱۴.۷۴)۔

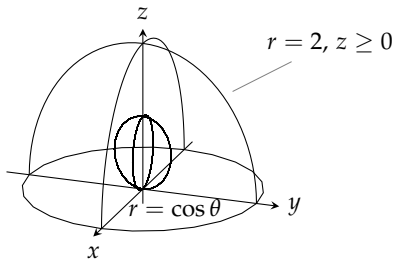

شکل ۱۴.۷۳: جسم برائے سوال ۱۴.۲۸۵

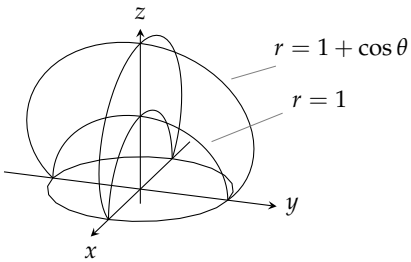

شکل ۱۴.۷۴: جسم برائے سوال ۱۴.۲۸۶

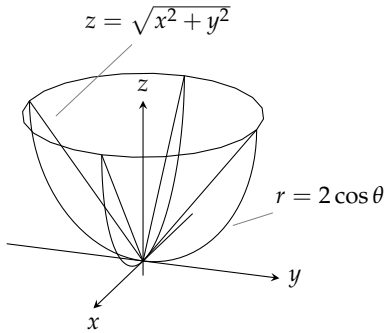

شکل ۱۴.۷۵: جسم برائے سوال ۱۴.۲۸۹

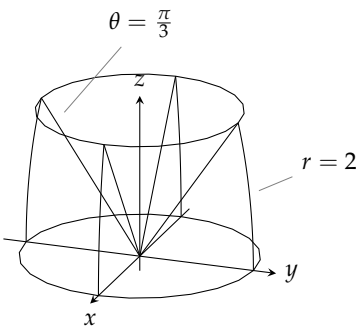

شکل ۱۴.۷۶: جسم برائے سوال ۱۴.۲۹۰

۲۳۱۹۶ سوال ۱۴.۲۸۷: جسم طواف قلب نما $r = 1 - \cos\theta$ میں ملفوف۔

۲۳۱۹۷ سوال ۱۴.۲۸۸: وہ بالائی خطہ جو سوال ۱۴.۲۸۷ کے جسم سے مستوی xy کاٹتا ہے۔

۲۳۱۹۸

۲۳۱۹۹ سوال ۱۴.۲۸۹: نیچے سے کرہ $r = 2\cos\theta$ اور اوپر سے مخروط $z = \sqrt{x^2 + y^2}$ میں ملفوف جسم (شکل ۱۴.۷۵)۔

۲۳۲۰۰ سوال ۱۴.۲۹۰: نیچے سے مستوی xy، اوپر سے مخروط $\theta = \frac{\pi}{3}$ اور اطراف سے کرہ $r = 2$ میں ملفوف جسم (شکل ۱۴.۷۶)۔

۲۳۲۰۱

۲۳۲۰۲ کارتیسی، نلکی اور کروی محدد

۲۳۲۰۳ سوال ۱۴.۲۹۱: کرہ $r = 2$ کے حجم کا تہرا تکمل (ا) کروی، (ب) نلکی، اور (ج) کارتیسی محدد میں لکھیں۔

۲۳۲۰۴ سوال ۱۴.۲۹۲: ثُمن اول میں نیچے سے مخروط $\theta = \frac{\pi}{4}$ اور اوپر سے کرہ $r = 3$ میں ملفوف خطہ D کے حجم کا تہرا تکمل (ا) نلکی اور (ب) کروی
۲۳۲۰۵ محدد میں لکھیں۔ (ج) اس کے بعد اس جسم کا حجم تلاش کریں۔

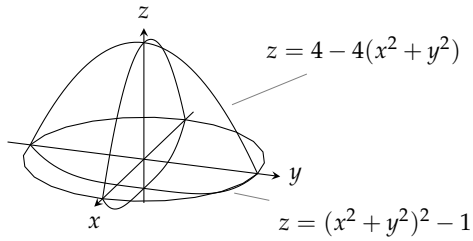

شکل ۱۴.۷۷: جسم برائے شکل ۱۴.۲۹۵

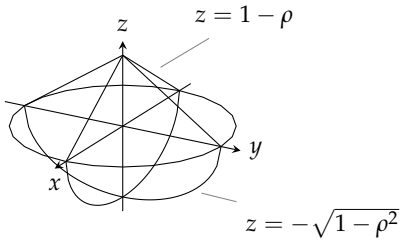

شکل ۱۴.۷۸: جسم برائے شکل ۱۴.۲۹۶

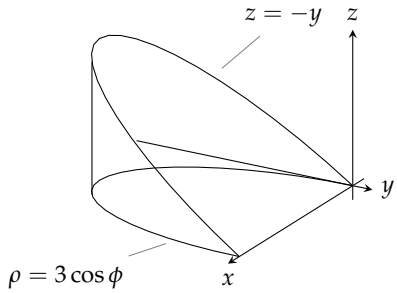

شکل ۱۴.۷۹: جسم برائے شکل ۱۴.۲۹۷

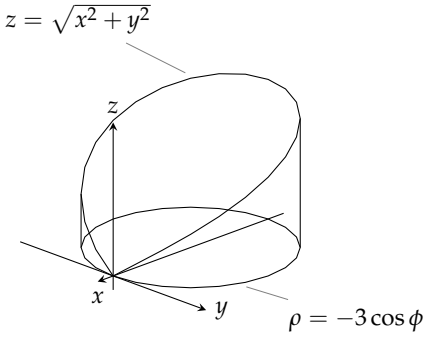

شکل ۱۴.۸۰: جسم برائے شکل ۱۴.۲۹۸

۲۳۲۰۶ سوال ۱۴.۲۹۳: رداس 2 اکائیاں کے کرہ کو، کرہ سے مرکز سے 1 اکائی دور، مستوی دو ٹکڑوں میں کاٹتی ہے۔ چھوٹے ٹکڑے کے حجم کا تہرا تکمل (ا)
۲۳۲۰۷ کروی، (ب) نلکی، اور (ج) کارتیسی محدد میں لکھیں۔ (د) اس ٹکڑے کا حجم کسی ایک تہرا تکمل کو حل کرتے ہوئے معلوم کریں۔

۲۳۲۰۸ سوال ۱۴.۲۹۴: ٹھوس نصف کرہ $x^2 + y^2 + z^2 \leq 1,\ z \geq 0$ کے جمودی معیار اثر I_z کو (ا) نلکی اور (ب) کروی محدد میں لکھیں۔
۲۳۲۰۹ (ج) I_z کی قیمت تلاش کریں۔

۲۳۲۱۰

۲۳۲۱۱ **حجم**

۲۳۲۱۲ سوال ۱۴.۲۹۵ تا سوال ۱۴.۳۰۰ میں ٹھوس اجسام کے حجم تلاش کریں۔

۲۳۲۱۳ سوال ۱۴.۲۹۵: اوپر سے $z = 4 - 4(x^2 + y^2)$ اور نیچے سے $z = (x^2 + y^2)^2 - 1$ میں ملفوف جسم (شکل ۱۴.۷۷)۔

۲۳۲۱۴ سوال ۱۴.۲۹۶: اوپر سے $z = 1 - \rho$ اور نیچے سے $z = -\sqrt{1 - \rho^2}$ میں ملفوف جسم (شکل ۱۴.۷۸)۔

۲۳۲۱۵ سوال ۱۴.۲۹۷: مستوی xy سے اوپر ٹھوس نلکی $\rho = 3\cos\phi$ کا وہ حصہ جو مستوی $z = -y$ سے نیچے ہے (شکل ۱۴.۷۹)۔

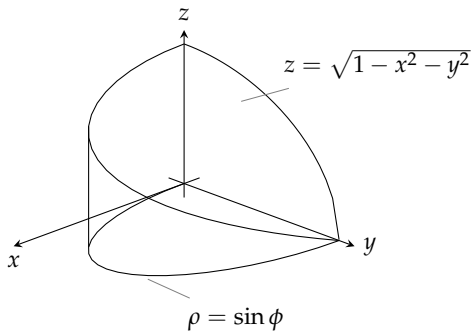

شکل ۱۴.۸۱: جسم برائے شکل ۱۴.۲۹۹

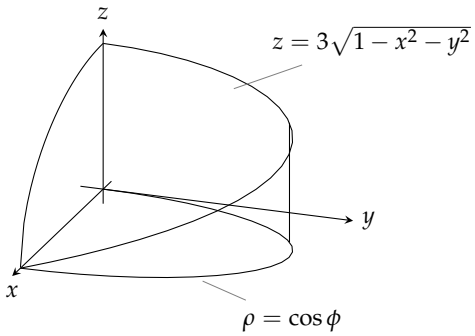

شکل ۱۴.۸۲: جسم برائے شکل ۱۴.۳۰۰

۳۳۲۱۶ سوال ۱۴.۲۹۸: مستوی xy سے اوپر ٹھوس نلکی $\rho = -3\cos\phi$ کا وہ حصہ جو سطح $z = \sqrt{x^2 + y^2}$ سے نیچے ہے (شکل ۱۴.۸۰)۔

۳۳۲۱۷ سوال ۱۴.۲۹۹: مستوی xy سے اوپر ٹھوس نلکی $\rho = \sin\phi$ کا وہ حصہ جو سطح $z = \sqrt{1 - x^2 - y^2}$ سے نیچے ہے (شکل ۱۴.۸۱)۔

۳۳۲۱۸ سوال ۱۴.۳۰۰: مستوی xy سے اوپر ٹھوس نلکی $\rho = \cos\phi$ کا وہ حصہ جو مستوی $z = 3\sqrt{1 - x^2 - y^2}$ سے نیچے ہے (شکل
۳۳۲۱۹ ۱۴.۸۲)۔

۳۳۲۲۰ سوال ۱۴.۳۰۱: مخروط $\theta = \frac{\pi}{3}$ اور $\theta = \frac{2\pi}{3}$ کے بیچ ٹھوس کرہ $r \leq a$ کے حصہ کا حجم تلاش کریں۔

۳۳۲۲۱ سوال ۱۴.۳۰۲: ثُمن اول میں نصف مستویات $\phi = 0$ اور $\phi = \frac{\pi}{6}$ کے بیچ ٹھوس کرہ $r \leq a$ کے حصہ کا حجم تلاش کریں۔

۳۳۲۲۲ سوال ۱۴.۳۰۳: ٹھوس کرہ $r \leq 2$ سے مستوی $z = 1$ جو چھوٹا ٹکڑا کاٹتا ہے، اس کا حجم تلاش کریں۔

۳۳۲۲۳ سوال ۱۴.۳۰۴: مستویات $z = 1$ اور $z = 2$ کے بیچ مخروط $z = \sqrt{x^2 + y^2}$ کے حصہ کا حجم تلاش کریں۔

۳۳۲۲۴ سوال ۱۴.۳۰۵: نیچے سے مستوی $z = 0$، اوپر سے سطح قطع مکافی $z = x^2 + y^2$ اور اطراف سے بیلن $x^2 + y^2 = 1$ میں ملفوف
۳۳۲۲۵ خطے کا حجم تلاش کریں۔

۳۳۲۲۶ سوال ۱۴.۳۰۶: نیچے سے سطح قطع مکافی $z = x^2 + y^2$، اوپر سے سطح قطع مکافی $z = 1 + x^2 + y^2$ اور اطراف سے بیلن $x^2 + y^2 = 1$
۳۳۲۲۷ میں ملفوف خطے کا حجم تلاش کریں۔

۳۳۲۲۸ سوال ۱۴.۳۰۷: موٹی دیوار کے بیلن $1 \leq x^2 + y^2 \leq 2$ سے مخروط $z = \mp\sqrt{x^2 + y^2}$ جتنا حصہ کاٹتے ہیں، اس کا حجم تلاش
۳۳۲۲۹ کریں۔

۳۳۲۳۰ سوال ۱۴.۳۰۸: کرہ $x^2 + y^2 + z^2 = 2$ کے اندر اور بیلن $x^2 + y^2 = 1$ کے باہر خطے کا حجم تلاش کریں۔

۳۳۲۳۱ سوال ۱۴.۳۰۹: بیلن $x^2 + y^2 = 4$ اور مستویات $z = 0$ اور $y + z = 4$ میں ملفوف خطے کا حجم تلاش کریں۔

۳۳۲۳۲ سوال ۱۴.۳۱۰: بیلن $x^2 + y^2 = 4$ اور مستویات $z = 0$ اور $x + y + z = 4$ میں ملفوف خطے کا حجم تلاش کریں۔

سوال ۱۴.۳۱۱: اوپر سے سطح قطع مکافی $z = 5 - x^2 - y^2$ اور نیچے سے سطح قطع مکافی $z = 4x^2 + 4y^2$ میں ملفوف خطے کا حجم تلاش کریں۔

سوال ۱۴.۳۱۲: بیلن $x^2 + y^2 = 1$ سے باہر، اوپر سے سطح قطع مکافی $z = 9 - x^2 - y^2$ اور نیچے سے مستوی xy میں ملفوف خطے کا حجم تلاش کریں۔

سوال ۱۴.۳۱۳: اس خطے کا حجم تلاش کریں جسے ٹھوس بیلن $x^2 + y^2 \leq 1$ کرہ $x^2 + y^2 + z^2 = 4$ سے کاٹتا ہے۔

سوال ۱۴.۳۱۴: اوپر سے کرہ $x^2 + y^2 + z^2 = 2$ اور نیچے سے سطح قطع مکافی $z = x^2 + y^2$ میں ملفوف خطے کا حجم تلاش کریں۔

اوسط قیمت

سوال ۱۴.۳۱۵: مستویات $z = -1$ اور $z = 1$ کے بیچ بیلن $\rho = 1$ میں تفاعل $F(\rho, \phi, z) = \rho$ کی اوسط قیمت تلاش کریں۔

سوال ۱۴.۳۱۶: کرہ $\rho^2 + z^2 = 1$ (یعنی کرہ $x^2 + y^2 + z^2 = 1$) کے اندر تفاعل $F(\rho, \phi, z) = \rho$ کی اوسط قیمت تلاش کریں۔

سوال ۱۴.۳۱۷: ٹھوس گیند $r \leq 1$ میں تفاعل $F(r, \theta, \phi) = r$ کی اوسط قیمت تلاش کریں۔

سوال ۱۴.۳۱۸: بالائی نصف ٹھوس کرہ $r \leq 1,\ 0 \leq \theta \leq \pi/2$ میں تفاعل $F(r, \theta, \phi) = r\cos\theta$ کی اوسط قیمت تلاش کریں۔

کمیت، معیار اثر، اور وسطانی مراکز

سوال ۱۴.۳۱۹: نیچے سے مستوی $z = 0$، اوپر سے مخروط $z = \rho,\ \rho \geq 0$، اور اطراف سے بیلن $\rho = 1$ میں ملفوف مستقل کثافت کے ٹھوس جسم کا مرکز کمیت تلاش کریں۔

سوال ۱۴.۳۲۰: ثُمن اول میں اوپر سے مخروط $z = \sqrt{x^2 + y^2}$، نیچے سے مستوی $z = 0$، اور اطراف سے بیلن $x^2 + y^2 = 4$ اور مستویات $x = 0$ اور $y = 0$ میں ملفوف خطے کا وسطانی مرکز تلاش کریں۔

سوال ۱۴.۳۲۱: اس ٹھوس جسم کا وسطانی مرکز تلاش کریں جو سوال ۱۴.۲۸۶ میں دیا گیا ہے۔

سوال ۱۴.۳۲۲: اوپر سے کرہ $r = a$ اور نیچے سے مخروط $\theta = \frac{\pi}{4}$ کے بیچ ٹھوس جسم کا وسطانی مرکز تلاش کریں۔

سوال ۱۴.۳۲۳: اوپر سے سطح $z = \sqrt{\rho}$، نیچے سے مستوی xy، اور اطراف سے بیلن $\rho = 4$ میں ملفوف ٹھوس جسم کا وسطانی مرکز تلاش کریں۔

سوال ۱۴.۳۲۴: اس خطے کا وسطانی مرکز تلاش کریں جو نصف مستویات $\phi = -\pi/3,\ \rho \geq 0$ اور $\phi = \pi/3,\ \rho \geq 0$ ٹھوس گیند $\rho^2 + z^2 \leq 1$ سے کاٹتے ہیں۔

سوال ۱۴.۳۲۵: قائمہ دائری موٹی دیوار کے بیلن کی اندرونی سطح بیلن $\rho = 1$ اور بیرونی سطح بیلن $\rho = 2$ ہیں۔ اس کا نچلا سر مستوی $z = 0$ اور بالائی سر مستوی $z = 4$ میں پایا جاتا ہے۔ محور z کے لحاظ سے اس کا جمودی معیار اثر اور رداس دوار تلاش کریں ($\delta = 1$ لیں)۔

سوال ۱۴.۳۲۶: ایک قائمہ دائری بیلن کا رداس 1 اور قد 2 ہے۔(ا) بیلن کے محور، (ب) بیلن کے وسطانی مرکز سے گزرتی ہوئے لکیر جو بیلن کے محور کو عمودی ہو، کے لحاظ سے بیلن کا جمودی معیار اثر تلاش کریں ($\delta = 1$ لیں)۔

سوال ۱۴.۳۲۷: ایک قائمہ دائری مخروط کا رداس قاعدہ 1 اور قد 1 ہے۔ مخروط کے راس سے گزرتی ہوئی لکیر جو مخروط کے محور کو عمودی ہے کے لحاظ سے مخروط کا جمودی معیار اثر تلاش کریں ($\delta = 1$ لیں)۔

سوال ۱۴.۳۲۸: رداس a کے کرہ کا جمودی معیار اثر کرہ کے قطر کے لحاظ سے تلاش کریں ($\delta = 1$ لیں)۔

سوال ۱۴.۳۲۹: ایک قائمہ دائری مخروط کا رداس قاعدہ a اور قد h ہے۔ اس کا جمودی معیار اثر مخروط کے محور کے لحاظ سے تلاش کریں۔ (اشارہ: مخروط کے محور کو محور z اور راس کو مبدا پر رکھیں۔)

سوال ۱۴.۳۳۰: ایک ٹھوس جسم اوپر سے قطع مکافی سطح $z = \rho^2$، نیچے سے مستوی $z = 0$، اور اطراف سے بیلن $\rho = 1$ میں ملفوف ہے۔ اس کا مرکز کمیت اور محور z کے لحاظ سے جمودی معیار اثر اور رداس دوار تلاش کریں جہاں جسم کی کثافت (ا) $\delta(\rho, \phi, z) = z$، (ب) $\delta(\rho, \phi, z) = \rho$ ہے۔

سوال ۱۴.۳۳۱: ایک ٹھوس جسم نیچے سے مخروط $z = \sqrt{x^2 + y^2}$ اور اوپر سے مستوی $z = 1$ میں ملفوف ہے۔ اس کا مرکز کمیت اور محور z کے لحاظ سے جمودی معیار اثر اور رداس دوار تلاش کریں جہاں جسم کی کثافت (ا) $\delta(\rho, \phi, z) = z$، (ب) $\delta(\rho, \phi, z) = z^2$ ہے۔

سوال ۱۴.۳۳۲: ایک ٹھوس گیند کا رداس $r = a$ ہے اور کثافت (ا) $\delta(r, \theta, \phi) = r^2$، (ب) $\delta(r, \theta, \phi) = \rho = r \sin\theta$ ہے۔ محور z کے لحاظ سے اس گیند کا جمودی معیار اثر تلاش کریں۔

سوال ۱۴.۳۳۳: دکھائیں کہ ایک نیم ترخیمی سطح طواف $\frac{\rho^2}{a^2} + \frac{z^2}{h^2} \leq 1, z \geq 0$ کا وسطانی مرکز محور z پر قاعدہ سے سرجانب تین آٹھواں فاصلے پر ہے۔ بالخصوص $h = a$ ایک ٹھوس نصف کرہ دیتا ہے۔ یوں ٹھوس نصف کرہ کا وسطانی مرکز قاعدہ سے سرجانب تین آٹھواں فاصلے پر ہو گا۔

سوال ۱۴.۳۳۴: دکھائیں کہ ایک قائمہ دائری ٹھوس مخروط کا وسطانی مرکز محور پر قاعدہ سے راس جانب ایک چوتھائی فاصلے پر ہو گا۔ (عمومی طور پر مخروط اور اہرام کا وسطانی مرکز قاعدہ سے راس جانب ایک چوتھائی فاصلے پر ہو گا)۔

سوال ۱۴.۳۳۵: رداس $\rho = a$ کا ایک قائمہ دائری بیلن مستویات $z = 0$ اور $z = h, h > 0$ کے بیچ پایا جاتا ہے۔ اس کی کثافت $\delta(\rho, \phi, z) = z + 1$ ہے۔ اس کا مرکز کمیت اور محور z کے لحاظ سے جمودی معیار اثر اور رداس دوار تلاش کریں۔

سوال ۱۴.۳۳۶: رداس R کے ایک سیارہ پر ہوا کی کثافت $\mu = \mu_0 e^{-ch}$ ہے جہاں سیارہ کی سطح سے بلندی h ہے جبکہ سیارہ کی سطح پر ہوا کی کثافت μ_0 ہے اور c ایک مثبت مستقل ہے۔ سیارہ میں ہوا کی کمیت تلاش کریں۔

سوال ۱۴.۳۳۷: ایک سیارہ کا رداس R اور کمیت M ہے۔ اس کی کثافت کروی تشاکلی ہے جو سطح سے مرکز تک خطی بڑھتی ہے۔ سیارہ کی سطحی کثافت صفر لیتے ہوئے اس کے مرکز پر کثافت تلاش کریں۔

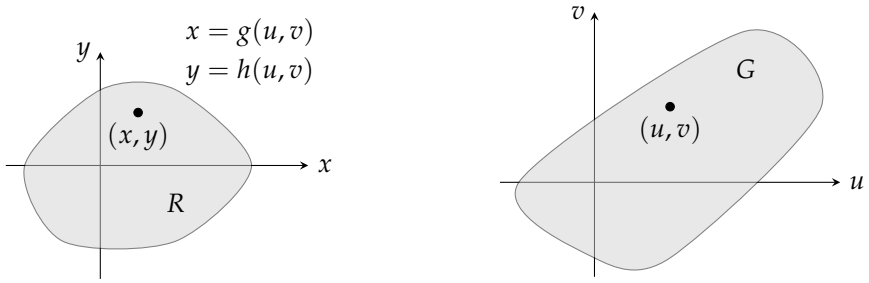

(ب) کارتیسی xy مستوی (ا) کارتیسی uv مستوی

شکل ۱۴.۸۳: مستوی xy میں خطہ R پر تکمل کا تبادلہ مساوات $x = g(u,v)$ ، $y = h(u,v)$ مستوی uv میں خطہ G پر کرتی ہیں۔

۱۴.۷ تکملات بالکثرت میں بدل

اس حصہ میں بارہا تکمل کی قیمت کا حصول بذریعہ بدل سکھایا جائے گا۔ واحد تکمل کی طرح یہاں بھی پیچیدہ تکمل کو سادہ تکمل سے بدلا جاتا ہے۔ بدل سے متکمل یا تکمل کی حدوں یا ان دونوں کی سادہ روپ استعمال کی جاتی ہے۔

دوہرا تکملات میں بدل

ہم قطبی محدد کی بدل کا استعمال حصہ ۱۴.۳ میں دیکھ چکے ہیں جو دوہرا تکملات کی بدل، جس میں متغیرات کی تبدیلی کو خطے کی تبدیلی تصور کیا جاتا ہے، کی ایک مخصوص صورت ہے۔

فرض کریں مستوی uv کے خطہ G کا تبادلہ ایک ایک مطابقت کی مساوات

$$x = g(u,v), \quad y = h(u,v)$$

کے ذریعہ مستوی xy کے خطہ R میں کیا جاتا ہے (شکل ۱۴.۸۳)۔ ہم R کو اس تبادل میں G کا **عکس**[۱۸] اور G کو R کا **قبل عکس**[۱۹] کہتے ہیں۔ خطہ R میں کسی بھی تفاعل $f(x,y)$ کو خطہ G میں معین تفاعل $f(g(u,v),h(u,v))$ بھی تصور کیا جا سکتا ہے۔ خطہ R میں $f(x,y)$ کے تکمل کا خطہ G میں $f(g(u,v),h(u,v))$ کے تکمل کے ساتھ کیا تعلق ہو گا؟

اس کا جواب: اگر g ، h اور f کے جزوی تفرقات استراری ہوں اور $J(u,v)$ (جس پر جلد تبصرہ کیا جائے گا) صرف تنہا نقطوں پر صفر ہو (اگر صفر ہو بھی) تب درج ذیل ہو گا۔

$$\iint\limits_R f(x,y)\,\mathrm{d}x\,\mathrm{d}y = \iint\limits_G f(g(u,v),h(u,v))\big|J(u,v)\big|\,\mathrm{d}u\,\mathrm{d}v \tag{۱}$$

---

[۱۸] image
[۱۹] preimage

۲۳۳۰۰ مذکورہ بالا مساوات میں $J(u,v)$ ، جو یعقوبی کہلاتا ہے، کی مطلق قیمت استعمال کی گئی۔

۲۳۳۰۱ تعریف: **یعقوبی مقطع**[20] یا محددی تبادل $x = g(u,v)$ ، $y = h(u,v)$ کے **یعقوبی**[21] سے مراد درج ذیل ہے:

$$J(u,v) = \begin{vmatrix} \frac{\partial x}{\partial u} & \frac{\partial x}{\partial v} \\ \frac{\partial y}{\partial u} & \frac{\partial y}{\partial v} \end{vmatrix} = \frac{\partial x}{\partial u}\frac{\partial y}{\partial v} - \frac{\partial y}{\partial u}\frac{\partial x}{\partial v} \tag{۲}$$

۲۳۳۰۲ □

۲۳۳۰۳ یعقوبی کو

$$J(u,v) = \frac{\partial(x,y)}{\partial(u,v)}$$

۲۳۳۰۴ سے بھی ظاہر کیا جاتا ہے جو ہمیں یاد دلاتا ہے کہ x اور y کی جزوی تفرقات سے یعقوبی (مساوات ۲) حاصل ہوتا ہے۔ مساوات ۱ کی استخراج آپ کو اعلیٰ احصاء
۲۳۳۰۵ کے نصاب میں ملے گی جس کو یہاں پیش نہیں کیا جائے گا۔

۲۳۳۰۶ قطبی محدد میں میں u اور v کی جگہ r اور θ ہوں گے لہٰذا $x = r\cos\theta$ اور $y = r\sin\theta$ لیتے ہوئے یعقوبی

$$J(r,\theta) = \begin{vmatrix} \frac{\partial x}{\partial r} & \frac{\partial x}{\partial \theta} \\ \frac{\partial y}{\partial r} & \frac{\partial y}{\partial \theta} \end{vmatrix} = \begin{vmatrix} \cos\theta & -r\sin\theta \\ \sin\theta & r\cos\theta \end{vmatrix} = r(\cos^2\theta + \sin^2\theta) = r$$

۲۳۳۰۷ ہو گا اور مساوات ادرج ذیل صورت اختیار کرے گی جو حصہ ۱۴.۳ کی مساوات ۶ ہے۔

$$\begin{aligned} \iint\limits_R f(x,y)\,\mathrm{d}x\,\mathrm{d}y &= \iint\limits_G f(r\cos\theta, r\sin\theta)|r|\,\mathrm{d}r\,\mathrm{d}\theta \\ &= \iint\limits_G f(r\cos\theta, r\sin\theta) r\,\mathrm{d}r\,\mathrm{d}\theta \qquad \text{اگر } r \geq 0 \text{ ہو} \end{aligned} \tag{۳}$$

۲۳۳۰۸ شکل ۱۴.۸۴ میں دکھایا گیا ہے کہ کس طرح مستطیل $G : 0 \leq r \leq 1, 0 \leq \theta \leq \pi/2$ کا تبادلہ مساوات $x = r\cos\theta$ اور
۲۳۳۰۹ $y = r\sin\theta$ ایک چوتھائی دائرہ R ، جس کی سرحد ربع اول میں مستوی xy پر $x^2 + y^2 = 1$ ہے، میں کرتی ہیں۔

۲۳۳۱۰ دھیان رہے کہ مساوات ۳ کی دائیں ہاتھ میں قطبی محددی مستوی میں کسی خطہ پر $f(r\cos\theta, r\sin\theta)$ کا تکمل نہیں بلکہ کارتیسی r,θ مستوی کے
۲۳۳۱۱ خطہ G میں $f(r\cos\theta, r\sin\theta)$ اور r کے حاصل ضرب کا تکمل ہے۔

---

[20] یہ ریاضی دان کارل گستاف یعقوب یعقوبی کے نام سے منسوب ہے۔
[21] Jacobian

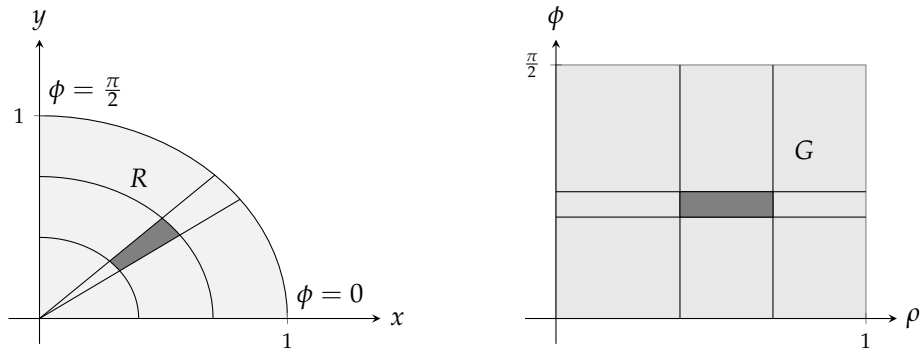

(ب) کارتیسی xy مستوی (ا) کارتیسی $\rho\phi$ مستوی

شکل ۱۴.۸۴: خطہ G کا تبادلہ مساوات $x = \rho\cos\phi$ ، $y = \rho\sin\phi$ خطہ R میں کرتی ہیں۔

۲۳۳۱۲ دھیان رہے کہ مساوات تبادل $x = g(u,v)$ ، $y = h(u,v)$ خطہ G کا تبادلہ R میں کرتی ہیں مگر یہ مساوات R میں تکمل کو تبدیل کر
۲۳۳۱۳ کے G میں تکمل دیتی ہیں۔

۲۳۳۱۴ آئیں تبادل کی دوسری مثال دیکھیں۔

۲۳۳۱۵ مثال ۱۴.۲۴: مستوی uv میں موزوں خطہ پر تبادل

$$u = \frac{2x-y}{2}, \quad v = \frac{y}{2} \tag{۴}$$

۲۳۳۱۶ استعمال کرتے ہوئے درج ذیل تکمل کی قیمت تلاش کریں۔

$$\int_0^4 \int_{x=y/2}^{x=y/2+1} \frac{2x-y}{2}\,\mathrm{d}x\,\mathrm{d}y$$

۲۳۳۱۷ حل: ہم مستوی xy میں تکمل کے خطے کا خاکہ بنا کر اس کی سرحدوں کی نشاندہی کرتے ہیں (شکل ۱۴.۸۵)۔

۲۳۳۱۸ مساوات ۱ استعمال کرنے کی خاطر ہمیں مستوی uv میں مطابقتی خطہ G اور تبادل کا یعقوبی معلوم کرنے ہوں گے۔ انہیں دریافت کرنے کے لئے ہم
۲۳۳۱۹ مساوات ۴ کو x اور y کے لئے u اور v کی صورت میں حل کرتے ہیں۔ یوں درج ذیل حاصل ہو گا۔

$$x = u+v, \quad y = 2v \tag{۵}$$

۲۳۳۲۰ اس کے بعد ہم R کی سرحدوں کی مساوات میں انہیں پر کر کے G کی سرحدیں دریافت کرتے ہیں۔

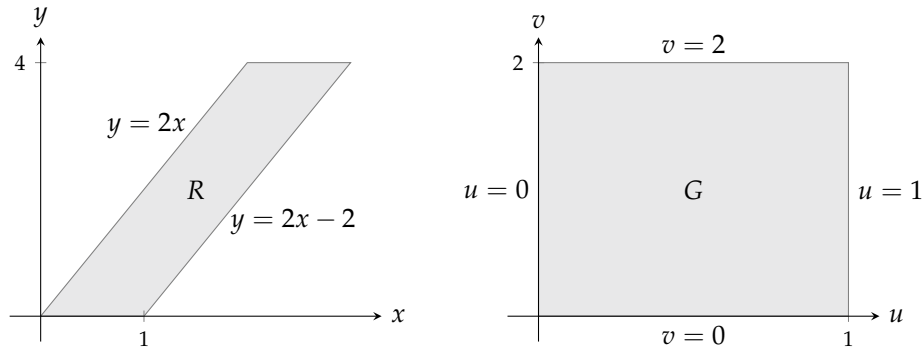

شکل ۸۵.۱۴: خطہ G کا تبادلہ مساوات $x = u + v$ ، $y = 2v$ خطہ R میں کرتی ہیں۔ ان مساوات کو $u = (2x - y)/2$ ، $v = y/2$ لکھ کر R کا تبادلہ G میں کیا جا سکتا ہے۔

خطہ R کی سرحد کی xy مساواتیں	خطہ G کی مطابقتی سرحد کی uv مساواتیں	uv مساواتوں کی سادہ صورت
$x = \frac{y}{2}$	$u + v = \frac{2v}{2} = v$	$u = 0$
$x = \frac{y}{2} + 1$	$u + v = \frac{2v}{2} + 1 = v + 1$	$u = 1$
$y = 0$	$2v = 0$	$v = 0$
$y = 4$	$2v = 4$	$v = 2$

۲۳۳۲۱

۲۳۳۲۲ تبادل کا یعقوبی (مساوات ۵ سے) درج ذیل ہو گا۔

$$J(u,v) = \begin{vmatrix} \frac{\partial x}{\partial u} & \frac{\partial x}{\partial v} \\ \frac{\partial y}{\partial u} & \frac{\partial y}{\partial v} \end{vmatrix} = \begin{vmatrix} \frac{\partial}{\partial u}(u+v) & \frac{\partial}{\partial v}(u+v) \\ \frac{\partial}{\partial u}(2v) & \frac{\partial}{\partial v}(2v) \end{vmatrix} = \begin{vmatrix} 1 & 1 \\ 0 & 2 \end{vmatrix} = 2$$

۲۳۳۲۳ ہم اب مساوات ۱۱ استعمال کرنے کی تمام معلومات جانتے ہیں:

$$\begin{aligned} \int_0^4 \int_{x=y/2}^{x=y/2+1} \frac{2x-y}{2}\,\mathrm{d}x\,\mathrm{d}y &= \int_{v=0}^{v=2} \int_{u=0}^{u=1} u\big|J(u,v)\big|\,\mathrm{d}u\,\mathrm{d}v \\ &= \int_0^2 \int_0^1 (u)(2)\,\mathrm{d}u\,\mathrm{d}v = \int_0^2 \Big[u^2\Big]_0^1 \mathrm{d}v = \int_0^2 \mathrm{d}v = 2 \end{aligned}$$

۲۳۳۲۴ □

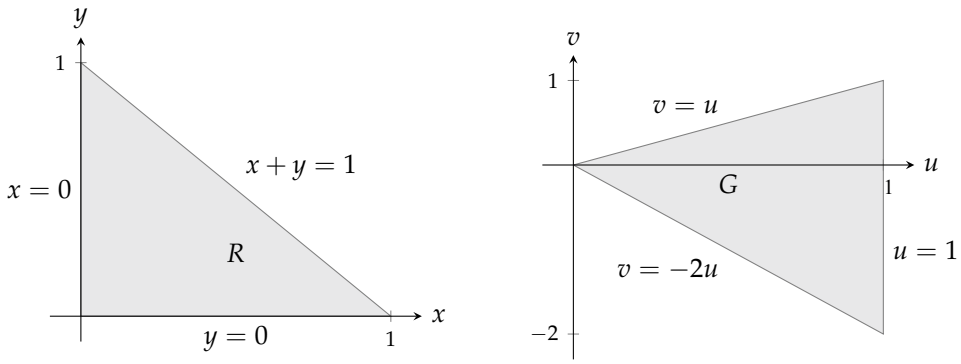

شکل ۱۴.۸۶: خطہ G کا تبادلہ مساوات $x = \frac{u}{3} - \frac{v}{3}$ ، $y = \frac{2u}{3} + \frac{v}{3}$ خطہ R میں کرتی ہیں۔ ان مساوات کو $u = x + y$ ، $v = y - 2x$ لکھ کر R کا تبادلہ G میں کیا جا سکتا ہے۔

۲۳۳۲۵ مثال ۱۴.۲۵: درج ذیل تکمل کی قیمت تلاش کریں۔

$$\int_0^1 \int_0^{1-x} \sqrt{x+y}(y-2x)^2 \, \mathrm{d}y \, \mathrm{d}x$$

۲۳۳۲۶ حل: ہم مستوی xy میں تکمل کے خطہ R کا خاکہ بنا کر اس کی سرحدوں کی نشاندہی کرتے ہیں (شکل ۱۴.۸۶)۔ متکمل کو دیکھ کر ہمیں خیال آتا ہے کہ
۲۳۳۲۷ تبادل $u = x + y$ اور $v = y - 2x$ استعمال کیا جائے جنہیں u اور v کی صورت میں x اور y کے لئے حل کرتے ہوئے درج ذیل
۲۳۳۲۸ حاصل ہو گا۔

$$x = \frac{u}{3} - \frac{v}{3}, \quad y = \frac{2u}{3} + \frac{v}{3} \tag{۶}$$

۲۳۳۲۹ ہم مساوات ۶ سے مستوی uv میں خطہ G کی سرحدیں معلوم کرتے ہیں۔

۲۳۳۳۰

uv مساواتوں کی سادہ صورت	G کی مطابقتی سرحد کی uv مساواتیں	R کی سرحد کی xy مساواتیں
$u = 1$	$\left(\frac{u}{3} - \frac{v}{3}\right) + \left(\frac{2u}{3} + \frac{v}{3}\right) = 1$	$x + y = 1$
$v = u$	$\frac{u}{3} - \frac{v}{3} = 0$	$x = 0$
$v = -2u$	$\frac{2u}{3} + \frac{v}{3} = 0$	$y = 0$

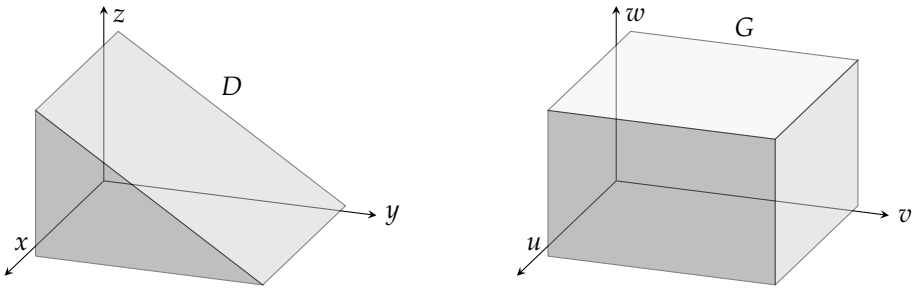

(ا)کارتیسی uvw فضا۔ (ب)کارتیسی xyz فضا۔

شکل ۱۴.۸۷: کارتیسی xyz فضا میں خطہ D پر تکمل کا تبادلہ مساوات $x = g(u,v,w)$ ، $y = h(u,v,w)$ ، $z = k(u,v,w)$ کارتیسی uvw فضا میں خطہ G پر تکمل میں کرتی ہیں۔

۲۳۳۱ مساوات ۶ میں دیے تبادل کا یعقوبی درج ذیل ہو گا۔

$$J(u,v) = \begin{vmatrix} \frac{\partial x}{\partial u} & \frac{\partial x}{\partial v} \\ \frac{\partial y}{\partial u} & \frac{\partial y}{\partial v} \end{vmatrix} = \begin{vmatrix} \frac{1}{3} & -\frac{1}{3} \\ \frac{2}{3} & \frac{1}{3} \end{vmatrix} = \frac{1}{3}$$

۲۳۳۲ ہم مساوات اسے تکمل کی قیمت حاصل کرتے ہیں:

$$\begin{aligned}
\int_0^1 \int_0^{1-x} \sqrt{x+y}(y-2x)^2 \,\mathrm{d}y\,\mathrm{d}x &= \int_{u=0}^{u=1} \int_{v=-2u}^{v=u} u^{1/2}\, v^2 \big|J(u,v)\big| \,\mathrm{d}v\,\mathrm{d}u \\
&= \int_0^1 \int_{-2u}^{u} u^{1/2}\, v^2 \left(\frac{1}{3}\right) \mathrm{d}v\,\mathrm{d}u = \frac{1}{3}\int_0^1 u^{1/2} \left(\frac{1}{3}v^3\right)_{v=-2u}^{v=u} \mathrm{d}u \\
&= \frac{1}{9}\int_0^1 u^{1/2}(u^3+8u^3)\,\mathrm{d}u = \int_0^1 u^{7/2}\,\mathrm{d}u = \frac{2}{9}u^{9/2}\Big|_0^1 = \frac{2}{9}
\end{aligned}$$

۲۳۳۳ □

۲۳۳۴ تہرا تکملات میں بدل

۲۳۳۵ نلکی اور کروی بدل ان بدل کی خصوصی صورتیں ہیں جو تہرا تکملات کے متغیرات کی تبدیلی کو تین بعدی فضا کا تبادل تصور کرتے ہیں۔ یہ ترکیب دوہرا تکملات کی
۲۳۳۶ ترکیب کی طرح ہے، بس اب ہم دو کے بجائے تین بعد میں کام کرتے ہیں۔

۲۳۳۷ فرض کریں uvw فضا میں خطہ G کا تبادلہ ایک ایک مطابقت کے ساتھ xyz فضا کے خطہ D میں درج ذیل روپ کی مساواتوں سے کیا جاتا ہے (شکل

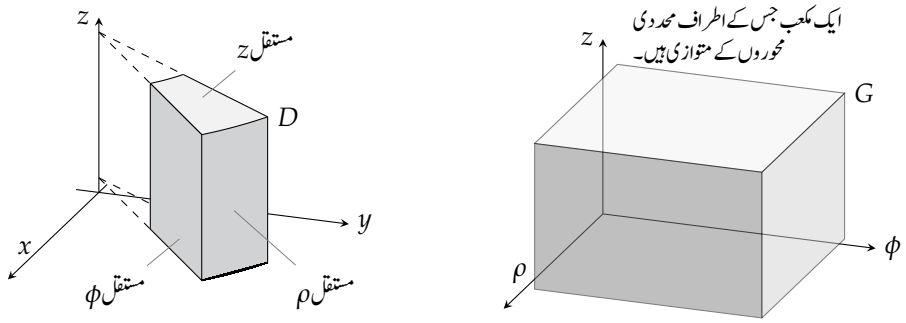

(ا) کارتیسی $\rho\phi z$ فضا۔ (ب) کارتیسی xyz فضا۔

شکل ۱۴.۸۸: خطہ G کا تبادلہ مساوات $x = \rho\cos\phi$ ، $y = \rho\sin\phi$ ، $z = z$ خطہ D میں کرتی ہیں۔

۲۳۳۳۸ ۱۴.۸۷)۔

$$x = g(u,v,w), \quad y = h(u,v,w), \quad z = k(u,v,w)$$

۲۳۳۳۹ تب D میں کسی بھی تفاعل $F(x,y,z)$ کو G میں معین تفاعل

$$F(g(u,v,w), h(u,v,w), k(u,v,w)) = H(u,v,w)$$

۲۳۳۴۰ تصور کیا جا سکتا ہے۔ اگر g ، h اور k کے اول جزوی تفرقات استمراری ہوں تب D پر F کے تکمل کا G پر $H(u,v,w)$ کے تکمل کے ساتھ
۲۳۳۴۱ تعلق درج ذیل مساوات دیگی۔

$$\iiint\limits_D F(x,y,z)\,\mathrm{d}x\,\mathrm{d}y\,\mathrm{d}z = \iiint\limits_G H(u,v,w)\big|J(u,v,w)\big|\,\mathrm{d}u\,\mathrm{d}v\,\mathrm{d}w \tag{۷}$$

۲۳۳۴۲ اس مساوات میں $J(u,v,w)$ کی مطلق قیمت استعمال کی گئی ہے جو درج ذیل **یعقوبی مقطع**[۲۲] ہے۔

$$J(u,v,w) = \begin{vmatrix} \frac{\partial x}{\partial u} & \frac{\partial x}{\partial v} & \frac{\partial x}{\partial w} \\ \frac{\partial y}{\partial u} & \frac{\partial y}{\partial v} & \frac{\partial y}{\partial w} \\ \frac{\partial z}{\partial u} & \frac{\partial z}{\partial v} & \frac{\partial z}{\partial w} \end{vmatrix} = \frac{\partial(x,y,z)}{\partial(u,v,w)} \tag{۸}$$

۲۳۳۴۳ متغیرات کی تبدیلی کا کلیہ، جس کو مساوات ۷ میں پیش کیا گیا ہے، پیچیدہ ہے اور دو بعدی صورت کی طرح، اس کی اشتقاق کو یہاں پیش نہیں کیا جائے گا۔

---

[۲۲] Jacobiandeterminant

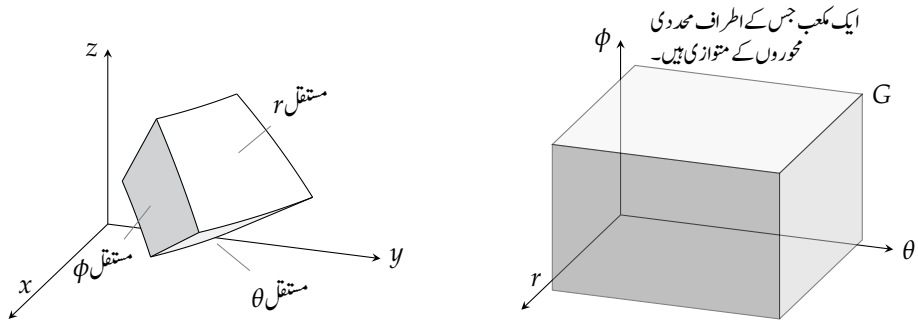

(ا)کارتیسی $r\theta\phi$ فضا۔ (ب)کارتیسی xyz فضا۔

شکل ۱۴.۸۹: خطہ G کا تبادلہ مساوات $x = r\sin\theta\cos\phi$ ، $y = r\sin\theta\sin\phi$ ، $z = r\cos\theta$ خطہ D میں کرتی ہیں۔

۲۳۳۴۴ نلکی محدد میں u ، v اور w کی جگہ ρ ، ϕ اور z ہوں گے۔ کارتیسی $\rho\phi z$ فضا سے کارتیسی xyz فضا میں تبادل درج ذیل مساوات دیں گی (شکل
۲۳۳۴۵ ۱۴.۸۸)۔

$$x = \rho\cos\phi, \quad y = \rho\sin\phi, \quad z = z$$

۲۳۳۴۶ اس تبادل کا یعقوبی

$$\begin{aligned} J(\rho,\phi,z) &= \begin{vmatrix} \frac{\partial x}{\partial \rho} & \frac{\partial x}{\partial \phi} & \frac{\partial x}{\partial z} \\ \frac{\partial y}{\partial \rho} & \frac{\partial y}{\partial \phi} & \frac{\partial y}{\partial z} \\ \frac{\partial z}{\partial \rho} & \frac{\partial z}{\partial \phi} & \frac{\partial z}{\partial z} \end{vmatrix} = \begin{vmatrix} \cos\phi & -\rho\sin\phi & 0 \\ \sin\phi & \rho\cos\phi & 0 \\ 0 & 0 & 1 \end{vmatrix} \\ &= \rho\cos^2\phi + \rho\sin^2\phi = \rho \end{aligned}$$

۲۳۳۴۷ ہو گا۔ یوں مساوات ۷ درج ذیل صورت اختیار کرے گی۔

$$\iiint\limits_D F(x,y,z)\,\mathrm{d}x\,\mathrm{d}y\,\mathrm{d}z = \iiint\limits_G H(\rho,\phi,z)\left|\rho\right|\,\mathrm{d}\rho\,\mathrm{d}\phi\,\mathrm{d}z \tag{۹}$$

۲۳۳۴۸ جب بھی $\rho \geq 0$ ہو، ہم مطلق کی علامت سے چھٹکارا حاصل کر سکتے ہیں۔

۲۳۳۴۹ کروی محدد میں u ، v اور w کی جگہ r ، θ اور ϕ ہوں گے۔ کارتیسی $r\theta\phi$ فضا سے کارتیسی xyz فضا میں تبادل درج ذیل مساوات دیں گی
۲۳۳۵۰ (شکل ۱۴.۸۹)۔

$$x = r\sin\theta\cos\phi, \quad y = r\sin\theta\sin\phi, \quad z = r\sin\theta$$

۲۳۳۵۱ اس تبادل کا یعقوبی

$$J(r,\theta,\phi) = \begin{vmatrix} \frac{\partial x}{\partial r} & \frac{\partial x}{\partial \theta} & \frac{\partial x}{\partial \phi} \\ \frac{\partial y}{\partial r} & \frac{\partial y}{\partial \theta} & \frac{\partial y}{\partial \phi} \\ \frac{\partial z}{\partial r} & \frac{\partial z}{\partial \theta} & \frac{\partial z}{\partial \phi} \end{vmatrix} = r^2 \sin\theta \tag{۱۰}$$

۲۳۳۵۲ ہو گا (سوال ۱۴.۳۵۴)۔ یوں مساوات ۷ درج ذیل صورت اختیار کرے گی۔

$$\iiint\limits_D F(x,y,z)\,\mathrm{d}x\,\mathrm{d}y\,\mathrm{d}z = \iiint\limits_G H(r,\theta,\phi)\left|r^2\sin\theta\right|\,\mathrm{d}r\,\mathrm{d}\theta\,\mathrm{d}\phi \tag{۱۱}$$

۲۳۳۵۳ کروی محدد میں $0 \le \theta \le \pi$ کی وجہ سے $\sin\theta$ کبھی بھی منفی نہیں ہو سکتا ہے لہٰذا مطلق کی علامت لکھنے کی ضرورت نہیں ہے۔

۲۳۳۵۴ آئیں تبادل کی ایک مثال دیکھتے ہیں۔

۲۳۳۵۵ مثال ۱۴.۲۶: درج ذیل تبادل

$$u = (2x-y)/2, \quad v = y/2, \quad w = z/3 \tag{۱۲}$$

۲۳۳۵۶ استعمال کرتے ہوئے uvw فضا میں موزوں خطہ پر تکمل لے کر درج ذیل تکمل کی قیمت دریافت کریں۔

$$\int_0^3 \int_0^4 \int_{x=y/2}^{x=y/2+1} \left(\frac{2x-y}{2} + \frac{z}{3}\right) \mathrm{d}x\,\mathrm{d}y\,\mathrm{d}z$$

۲۳۳۵۷ حل: ہم xyz فضا میں تکمل کے خطہ D کا خاکہ بنا کر اس کی سرحدوں کی نشاندہی کرتے ہیں (شکل ۱۴.۹۰)۔ یہاں سرحدی سطحیں مستویات ہیں۔

۲۳۳۵۸ مساوات ۷ استعمال کرنے کے لئے ہمیں uvw فضا میں مطابقتی خطہ G اور تبادل کا یعقوبی جاننا ہو گا۔ ہم مساوات ۱۲ کو x ، y اور z کے لئے u ، v
۲۳۳۵۹ اور w کی صورت میں حل کر کے

$$x = u+v, \quad y = 2v, \quad z = 3w \tag{۱۳}$$

۲۳۳۶۰ حاصل کرتے ہیں۔ ہم D کی سرحدوں کی مساوات میں یہ قیمتیں پر کر کے G کی سرحدوں کی مساواتیں دریافت کرتے ہیں:

uvw مساواتوں کی سادہ صورتیں	G کی سرحدوں کی مطابقتی uvw مساواتیں	D کی سرحدوں کی xyz مساواتیں
$u = 0$	$u+v = 2v/2 = v$	$x = y/2$
$u = 1$	$u+v = 2v/2+1 = v+1$	$x = y/2+1$
$v = 0$	$2v = 0$	$y = 0$
$v = 2$	$2v = 4$	$y = 4$
$w = 0$	$3w = 0$	$z = 0$
$w = 1$	$3w = 3$	$z = 3$

۲۳۳۶۱

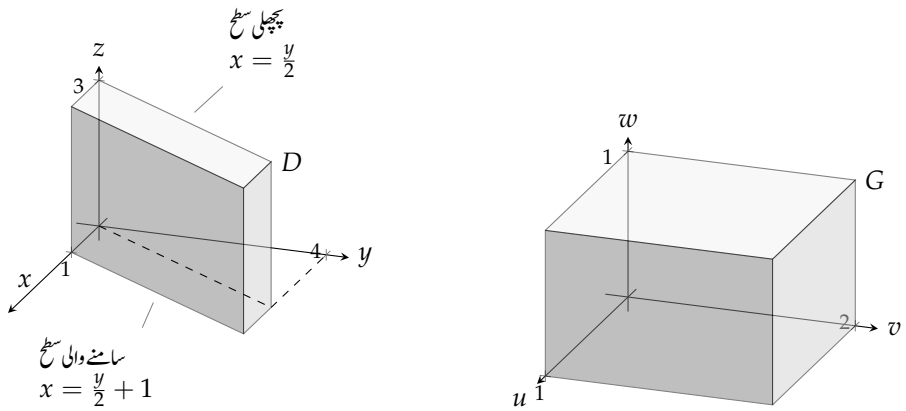

شکل ۱۴.۹۰: خطہ G کا تبادلہ مساوات $x = u + v$ ، $y = 2v$ ، $z = 3w$ خطہ D میں کرتی ہیں جبکہ ان کی مخالف مساوات $u = \frac{2x-y}{2}$ ، $v = \frac{y}{2}$ ، $w = \frac{z}{3}$ خطہ D کا تبادلہ G میں کرتی ہیں۔

۲۳۳۶۲ ہم مساوات ۱۱۳ استعمال کرتے ہوئے یعقوبی تلاش کرتے ہیں۔

$$J(u,v,w) = \begin{vmatrix} \frac{\partial x}{\partial u} & \frac{\partial x}{\partial v} & \frac{\partial x}{\partial w} \\ \frac{\partial y}{\partial u} & \frac{\partial y}{\partial v} & \frac{\partial y}{\partial w} \\ \frac{\partial z}{\partial u} & \frac{\partial z}{\partial v} & \frac{\partial z}{\partial w} \end{vmatrix} = \begin{vmatrix} 1 & 1 & 0 \\ 0 & 2 & 0 \\ 0 & 0 & 3 \end{vmatrix} = 6$$

۲۳۳۶۳ ہم مساوات ۱۷ استعمال کرنے کے لئے درکار تمام معلوم جان چکے ہیں۔ یوں درج ذیل ہو گا۔

$$\begin{aligned}
&\int_0^3 \int_0^4 \int_{x=y/2}^{x=y/2+1} \left(\frac{2x-y}{2} + \frac{z}{3}\right) \mathrm{d}x\,\mathrm{d}y\,\mathrm{d}z \\
&\qquad = \int_0^1 \int_0^2 \int_0^1 (u+w)\big|J(u,v,w)\big|\,\mathrm{d}u\,\mathrm{d}v\,\mathrm{d}w \\
&\qquad = \int_0^1 \int_0^2 \int_0^1 (u+w)(6)\,\mathrm{d}u\,\mathrm{d}v\,\mathrm{d}w = 6\int_0^1 \int_0^2 \left[\frac{u^2}{2} + uw\right]_0^1 \mathrm{d}v\,\mathrm{d}w \\
&\qquad = 6\int_0^1 \int_0^2 \left(\frac{1}{2} + w\right) \mathrm{d}v\,\mathrm{d}w = 6\int_0^1 \left[\frac{v}{2} + vw\right]_0^2 \mathrm{d}w = 6\int_0^1 (1+2w)\,\mathrm{d}w \\
&\qquad = 6\left[w + w^2\right]_0^1 = 6(2) = 12
\end{aligned}$$

□ ۲۳۳۶۴

سوالات

تبادل محدد

سوال ۱۴.۳۳۸:

ا. درج ذیل نظام کو x اور y کے لئے u اور v کی صورت میں حل کریں۔ اس کے بعد یعقوبی $\frac{\partial(x,y)}{\partial(u,v)}$ کی قیمت تلاش کریں۔

$$u = x - y, \quad v = 2x + y$$

ب. مستوی xy میں تکونی خطہ جس کے راس $(0,0)$ ، $(1,1)$ اور $(1,-2)$ ہیں کا عکس تبادل $u = x - y$ ، $v = 2x + y$ میں تلاش کریں۔ مستوی uv میں تبدیل شدہ خطے کا خاکہ بنائیں۔

سوال ۱۴.۳۳۹:

ا. درج ذیل نظام کو x اور y کے لئے u اور v کی صورت میں حل کریں۔ اس کے بعد یعقوبی $\frac{\partial(x,y)}{\partial(u,v)}$ کی قیمت تلاش کریں۔

$$u = x + 2y, \quad v = x - y$$

ب. مستوی xy میں لکیر $y = 0$ ، $y = x$ اور $x + 2y = 2$ کے بیچ تکونی خطے کا عکس تبادل $u = x + 2y$ ، $v = x - y$ میں تلاش کریں۔ مستوی uv میں تبدیل شدہ خطے کا خاکہ بنائیں۔

سوال ۱۴.۳۴۰:

ا. درج ذیل نظام کو x اور y کے لئے u اور v کی صورت میں حل کریں۔ اس کے بعد یعقوبی $\frac{\partial(x,y)}{\partial(u,v)}$ کی قیمت تلاش کریں۔

$$u = 3x + 2y, \quad v = x + 4y$$

ب. مستوی xy میں محور x ، محور y اور لکیر $x + y = 1$ کے بیچ تکونی خطے کا عکس تبادل $u = 3x + 2y$ ، $v = x + 4y$ میں تلاش کریں۔ مستوی uv میں تبدیل شدہ خطے کا خاکہ بنائیں۔

سوال ۱۴.۳۴۱:

ا. درج ذیل نظام کو x اور y کے لئے u اور v کی صورت میں حل کریں۔ اس کے بعد یعقوبی $\frac{\partial(x,y)}{\partial(u,v)}$ کی قیمت تلاش کریں۔

$$u = 2x - 3y, \quad v = -x + y$$

ب. مستوی xy میں $x = -3$ ، $x = 0$ ، $y = x$ اور $y = x + 1$ کے بیچ متوازی الاضلاع کا عکس تبادل $u = 2x - 3y$ ، $v = -x + y$ میں تلاش کریں۔ مستوی uv میں تبدیل شدہ خطے کا خاکہ بنائیں۔

سوال ۱۴.۳۴۲: درج ذیل تبادل کے یعقوبی تلاش کریں۔

۲۳۳۸۴ ا. $x = u\cos v, \quad y = u\sin v$ ۲۳۳۸۵ ب. $x = u\sin v, \quad y = u\cos v$

۲۳۳۸۶ سوال ۱۴.۳۴۳: درج ذیل تبادل کے یعقوبی تلاش کریں۔

۲۳۳۸۷ ا. $x = u\cos v, \quad y = u\sin v, \quad z = w$

۲۳۳۸۸ ب. $x = 2u - 1, \quad y = 3v - 4, \quad z = \frac{1}{2}(w - 4)$

۲۳۳۸۹ **دوہرا تکملات**

۲۳۳۹۰ سوال ۱۴.۳۴۴: درج ذیل تکمل کی قیمت x اور y کے لحاظ سے تکمل لے کر حاصل کرتے ہوئے مثال ۱۴.۲۴ میں حاصل قیمت (2) کی تصدیق
۲۳۳۹۱ کریں۔

$$\int_0^4 \int_{x=y/2}^{x=y/2+1} \frac{2x - y}{2}\,\mathrm{d}x\,\mathrm{d}y$$

۲۳۳۹۲ سوال ۱۴.۳۴۵: ربع اول میں لکیر $y = -2x + 4$ ، $y = -2x + 7$ ، $y = x - 2$ اور $y = x + 1$ کے بیچ خطہ R پر
۲۳۳۹۳ درج ذیل تکمل کی قیمت سوال ۱۴.۳۳۸ کا تبادل استعمال کرتے ہوئے حاصل کریں۔

$$\iint_R (2x^2 - xy - y^2)\,\mathrm{d}x\,\mathrm{d}y$$

۲۳۳۹۴ سوال ۱۴.۳۴۶: ربع اول میں لکیر $y = -\frac{3}{2}x + 1$ ، $y = -\frac{3}{2}x + 3$ ، $y = -\frac{1}{4}x$ اور $y = -\frac{1}{4}x + 1$ کے بیچ خطہ
۲۳۳۹۵ R پر درج ذیل تکمل کی قیمت سوال ۱۴.۳۴۰ کا تبادل استعمال کرتے ہوئے حاصل کریں۔

$$\iint_R (3x^2 + 14xy + 8y^2)\,\mathrm{d}x\,\mathrm{d}y$$

۲۳۳۹۶ سوال ۱۴.۳۴۷: درج ذیل تکمل کی قیمت سوال ۱۴.۳۴۱ کا خطہ R اور تبادل استعمال کرتے ہوئے دریافت کریں۔

$$\iint_R 2(x - y)\,\mathrm{d}x\,\mathrm{d}y$$

۲۳۳۹۷ سوال ۱۴.۳۴۸: ربع اول میں مستوی xy میں قطع زائد $xy = 1$ ، $xy = 9$ اور لکیر $y = x$ ، $y = 4x$ کے بیچ خطہ R ہے۔
۲۳۳۹۸ تبادل $x = u/v$ ، $y = uv$ جہاں $u > 0$ ، $v > 0$ ہیں استعمال کرتے ہوئے درج ذیل تکمل کو مستوی uv میں موزوں خطہ G پر
۲۳۳۹۹ ایک تکمل کی صورت میں لکھیں۔

$$\iint_R \left(\sqrt{\frac{y}{x}} + \sqrt{xy}\right)\mathrm{d}x\,\mathrm{d}y$$

۲۳۴۰۰ خطہ G پر اس uv تکمل کی قیمت تلاش کریں۔

۲۳۴۰۱ سوال ۱۴.۳۴۹: (ا) تبادل $x = u$ ، $y = uv$ کا یعقوبی تلاش کریں اور خطہ $G : 1 \leq u \leq 2, 1 \leq$
۲۳۴۰۲ $uv \leq 2$ کا مستوی uv میں خاکہ بنائیں۔ (ب) اس کے بعد مساوات ۱۱ استعمال کرتے ہوئے درج ذیل تکمل کو G پر ایک تکمل کی صورت میں لکھیں۔
۲۳۴۰۳ دونوں تکملات کو حل کرتے ہوئے تکمل کی قیمتیں حاصل کریں۔

$$\int_1^2 \int_1^2 \frac{y}{x} \, \mathrm{d}y \, \mathrm{d}x$$

۲۳۴۰۴ سوال ۱۴.۳۵۰: مستوی xy میں ترخیم $\frac{x^2}{a^2} + \frac{y^2}{b^2} = 1, \ a > 0, b > 0$ کے بیچ خطہ پر مستقل کثافت کی پتلی چادر کی مبدا کے لحاظ سے
۲۳۴۰۵ معیار اثر اول تلاش کریں۔ (اشارہ: تبادل $x = ar \cos \theta$ ، $y = br \sin \theta$ استعمال کریں۔)

۲۳۴۰۶ سوال ۱۴.۳۵۱: مستوی xy میں $\frac{x^2}{a^2} + \frac{y^2}{b^2} = 1$ پر تفاعل $f(x, y) = 1$ کا تکمل لے کر ترخیم کا رقبہ πab حاصل کیا جا سکتا ہے۔
۲۳۴۰۷ اس تکمل کو سیدھا حل کرنے کے لئے اس میں تکونیاتی تفاعل پر کرنا ہو گا۔ اس سے آسان طریقہ تبادل $x = au$ ، $y = bv$ استعمال کرتے ہوئے
۲۳۴۰۸ تبدیل شدہ تکمل کی قیمت کا مستوی uv میں قرص $G : u^2 + v^2 \leq 1$ پر حصول ہے۔

۲۳۴۰۹ سوال ۱۴.۳۵۲: درج ذیل تکمل کو پہلے مستوی uv میں خطہ G پر سوال ۱۴.۳۳۹ کے تبادل سے تبدیل کرتے ہوئے حل کریں۔

$$\int_0^{2/3} \int_y^{2-2y} (x + 2y) e^{(y-x)} \, \mathrm{d}x \, \mathrm{d}y$$

۲۳۴۱۰ سوال ۱۴.۳۵۳: مستوی uv میں درج ذیل تکمل کو تبادل $x = u + \frac{v}{2}$ ، $y = v$ کی مدد سے منتقل کریں۔ تبدیل شدہ تکمل کی قیمت تلاش
۲۳۴۱۱ کریں۔

$$\int_0^2 \int_{y/2}^{(y+4)/2} y^3 (2x - y) e^{(2x-y)^2} \, \mathrm{d}x \, \mathrm{d}y$$

۲۳۴۱۲ **تہرا تکملات**

۲۳۴۱۳ سوال ۱۴.۳۵۴: کارتیسی xyz فضا سے کارتیسی $r\theta\phi$ فضا کے تبادل کا یعقوبی مساوات ۱۰ کا مقطع دیتا ہے۔ اس مقطع کو حل کر کے اس کی قیمت
۲۳۴۱۴ $r^2 \sin \theta$ حاصل کریں۔

۲۳۴۱۵ سوال ۱۴.۳۵۵: متغیرات x ، y اور z کے لحاظ سے تکمل لیتے ہوئے مثال ۱۴.۲۶ کا تکمل حل کریں۔

۲۳۴۱۶ سوال ۱۴.۳۵۶: ترخیم نما

$$\frac{x^2}{a^2} + \frac{y^2}{b^2} + \frac{z^2}{c^2} = 1$$

۲۳۴۱۷ کا حجم تلاش کریں۔ (اشارہ: تبادل $x = au$ ، $y = bv$ ، $z = cw$ لے کر فضا uvw میں موزوں خطہ پر تکمل کی قیمت تلاش کریں۔)

۲۳۴۱۸ سوال ۱۴.۳۵۷: ٹھوس ترخیم نما

$$\frac{x^2}{a^2} + \frac{y^2}{b^2} + \frac{z^2}{c^2} \leq 1$$

پر درج ذیل تکمل کی قیمت تلاش کریں۔(اشارہ: تبادل $x = au$ ، $y = bv$ ، $z = cw$ لے کر فضا uvw میں موزوں خطہ پر تکمل کی قیمت تلاش کریں۔)

$$\iiint |xyz| \, \mathrm{d}x \, \mathrm{d}y \, \mathrm{d}z$$

سوال ۱۴.۳۵۸: فضا xyz میں خطہ D درج ذیل ہے۔

$$1 \leq x \leq 2, \quad 0 \leq xy \leq 2, \quad 0 \leq z \leq 1$$

تبادل

$$u = x, \quad v = xy, \quad w = 3z$$

استعمال کر کے فضا uvw میں موزوں خطہ G پر درج ذیل تکمل کی قیمت تلاش کریں۔

$$\iiint\limits_D (x^2y + 3xyz) \, \mathrm{d}x \, \mathrm{d}y \, \mathrm{d}z$$

سوال ۱۴.۳۵۹: یہ جانتے ہوئے کہ نصف کرہ کا مرکز کمیت کرہ کے قاعدہ سے سر جانب محور تشاکلی پر تین آٹھواں فاصلہ پر ہے، موزوں تکملات کو بدل کر دکھائیں کہ نصف ترخیم نما

$$\frac{x^2}{a^2} + \frac{y^2}{b^2} + \frac{z^2}{c^2} \leq 1, \, z \geq 0$$

کا مرکز کمیت محور z پر قاعدہ سے راس جانب تین آٹھواں فاصلہ پر ہو گا۔ آپ کو تکمل حل کرنے کی ضرورت پیش نہیں آنی چاہیے۔

سوال ۱۴.۳۶۰: واحد متغیر کے تکملات میں بدل کو کس طرح ترکیب تبادل کا ایک خصوصی روپ تصور کیا جا سکتا ہے؟ ان میں یعقوبی کی قیمت کیا ہو گی؟ ایک مثال کی مدد سے وضاحت کریں۔

باب ۱۵

سمتی میدان میں تکمل

ایک جائزہ اس باب کا موضوع سمتی میدان میں تکمل ہے۔ اس باب کی ریاضی کو برقناطیسیت کے خواص بیان کرنے کے لئے، تاروں میں حرارت کے بہاؤ پر غور، اور مصنوعی سیارہ کو مدار میں منتقل کرنے کے لئے درکار توانائی کے حصول کے لئے استعمال کیا جاتا ہے۔

۱۵.۱ لکیری تکمل

جب فضا میں تفاعل $f(x,y,z)$ کے دائرہ کار سے منحنی $\boldsymbol{r}(t) = g(t)\boldsymbol{i} + h(t)\boldsymbol{j} + k(t)\boldsymbol{k},\ a \leq t \leq b$ گزرے تب اس منحنی کے ساتھ چلتے ہوئے f کی قیمتیں مرکب تفاعل $f(g(t),h(t),k(t))$ دیگا۔ نقطہ a سے b تک لمبائی قوس کے لحاظ سے اس مرکب تفاعل کے تکمل کو قوس کے ساتھ f کا **لکیری تکمل**[1] کہتے ہیں۔ تین بعدی جیومیٹری کے باوجود، لکیری تکمل حقیقی اعداد کے وقفہ پر حقیقی قیمت تفاعل کا سادہ تفاعل ہو گا۔

لکیری تکمل کی اہمیت اس کے استعمال میں ہے۔ ان تکملات کی مدد سے ہم متغیر قوتوں کی فضا میں راہ پر کام اور قوس کے ساتھ یا سرحد پار کرتی سیال کی شرح بہاؤ کا حساب کرتے ہیں۔

تعریفات اور علامتیت

فرض کریں تفاعل $f(x,y,z)$ کے دائرہ کار میں منحنی $\boldsymbol{r}(t) = g(t)\boldsymbol{i} + h(t)\boldsymbol{j} + k(t)\boldsymbol{k},\ a \leq t \leq b$ پائی جاتی ہے۔ ہم اس منحنی کی، متناہی تعداد کی قوسچوں میں، خانہ بندی کرتے ہیں (شکل ۱۵.۱)۔ ایک علامتی قوسچہ کی لمبائی Δs_k ہو گی۔ ہم ہر قوسچہ پر ایک نقطہ

[1] lineintegral

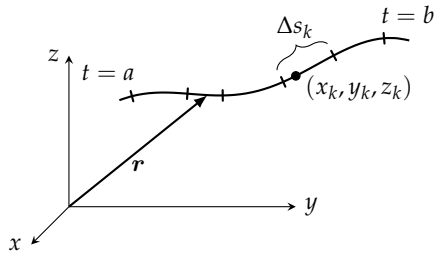

شکل ۱۵.۱: منحنی $\boldsymbol{r} = g(t)\boldsymbol{i} + h(t)\boldsymbol{j} + k(t)\boldsymbol{k}$ کو $t = a$ اور $t = b$ کے بیچ قوسچوں میں تقسیم کیا گیا ہے۔ ایک علامتی قوسچہ کی لمبائی Δs_k ہے۔

۳۳۴۴۵ (x_k, y_k, z_k) منتخب کر کے درج ذیل مجموعہ لیتے ہیں۔

$$J_n = \sum_{k=1}^{n} f(x_k, y_k, z_k)\Delta s_k \tag{۱}$$

۳۳۴۴۶ اگر f استمراری ہو اور g ، h ، اور k کے اول تفرق استمراری ہوں تب جیسے جیسے n بڑھایا جائے، Δs_k صفر تک پہنچے گی اور مساوات ۱ کا مجموعہ ایک
۳۳۴۴۷ حد کو پہنچے گا۔ ہم اس حد کو a تا b **اس قوس پر** f **کا تکمل** کہتے ہیں۔ قوس کو C سے ظاہر کرتے ہوئے اس تکمل کو علامتی طور پر درج ذیل لکھا جاتا
۳۳۴۴۸ ہے۔

$$\int_C f(x, y, z)\,\mathrm{d}s \qquad \text{“}C \text{ پر } f \text{ کا تکمل”} \tag{۲}$$

۳۳۴۴۹ **ہموار منحنیات پر تکمل کی قیمت کا حصول**

۳۳۴۵۰ اگر وقفہ $a \le t \le b$ پر $\boldsymbol{r}(t)$ ہموار ہو ($\boldsymbol{v} = \frac{\mathrm{d}\boldsymbol{r}}{\mathrm{d}t}$ استمراری ہو اور کبھی بھی $\boldsymbol{0}$ نہ ہو) تب ہم $\mathrm{d}s$ کو بیان کرنے کے لئے درج ذیل مساوات
۳۳۴۵۱ استعمال کر سکتے ہیں چونکہ اس سے $\mathrm{d}s = \left|\boldsymbol{v}(\tau)\right| \mathrm{d}t$ لکھا جا سکتا ہے۔

$$s(t) = \int_a^t \left|\boldsymbol{v}(\tau)\right| \mathrm{d}\tau \qquad t_0 = a \text{ حصہ ۱۲.۳ کی مساوات ۴ میں}$$

۳۳۴۵۲ اعلیٰ احصاء کا ایک مسئلہ کہتا ہے کہ ایسی صورت میں ہم درج ذیل طریقہ سے C پر f کے تکمل کی قیمت حاصل کر سکتے ہیں۔

$$\int_C f(x, y, z)\,\mathrm{d}s = \int_a^b f(g(t), h(t), k(t))\left|\boldsymbol{v}(t)\right| \mathrm{d}t$$

۳۳۴۵۳ ہم جس مقدار معلوم روپ کو بھی استعمال کریں، جب تک زیر استعمال مقدار معلوم روپ ہموار ہو، یہ کلیہ ہمیں تکمل کی قیمت دیگا۔

لکیری تکمل کی قیمت کا حصول

منحنی C پر استمراری تفاعل f کا تکمل لینے کے لئے

ا. C کی مقدار معلوم روپ تلاش کریں:

$$\boldsymbol{r}(t) = g(t)\boldsymbol{i} + h(t)\boldsymbol{j} + k(t)\boldsymbol{k}, \quad a \leq t \leq b$$

ب. درج ذیل تکمل کی قیمت حاصل کریں۔

$$\int_C f(x,y,z)\,\mathrm{d}s = \int_a^b f(g(t),h(t),k(t))\left|\boldsymbol{v}(t)\right|\mathrm{d}t \tag{۳}$$

دھیان رہے کہ مستقل تفاعل $f = 1$ کی صورت میں مذکورہ بالا تکمل C کی لمبائی دیگا۔

مثال ۱۵.۱: مبدا سے نقطہ $(1,1,1)$ تک قطع پر $f(x,y,z) = x - 3y^2 + z$ تکمل کریں (شکل ۱۵.۲)۔

حل: ہم ذہن میں آنے والا سادہ ترین مقدار معلوم روپ استعمال کرتے ہیں

$$\boldsymbol{r}(t) = t\boldsymbol{i} + t\boldsymbol{j} + t\boldsymbol{k}, \quad 0 \leq t \leq 1$$

جس کی اجزاء کے اول تفرق استمراری ہیں اور $\left|\boldsymbol{v}(t)\right| = \sqrt{1^2+1^2+1^2} = \sqrt{3}$ کبھی بھی $\mathbf{0}$ نہیں ہو سکتا ہے لہٰذا یہ مقدار معلوم روپ ہموار ہے۔ یوں C پر f کا تکمل درج ذیل ہو گا۔

$$\begin{aligned}\int_C f(x,y,z)\,\mathrm{d}s &= \int_0^1 f(t,t,t)(\sqrt{3})\,\mathrm{d}t \qquad \text{مساوات ۳}\\ &= \int_0^1 (t - 3t^2 + t)\sqrt{3}\,\mathrm{d}t\\ &= \sqrt{3}\int_0^1 (2t - 3t^2)\,\mathrm{d}t = \sqrt{3}\Big[t^2 - t^3\Big]_0^1 = 0\end{aligned}$$

□

جمع پذیری

اگر متناہی تعداد کی منحنیات C_1 ، C_2 ، ۔ ۔ ۔ ، C_n کو ایک دوسرے کے ساتھ جوڑ کر منحنی C حاصل کی جائے تب C پر تفاعل کا تکمل ان منحنیات پر تفاعل کے تکملات کا مجموعہ ہو گا:

$$\int_C f\,\mathrm{d}s = \int_{C_1} f\,\mathrm{d}s + \int_{C_2} f\,\mathrm{d}s + \cdots + \int_{C_n} f\,\mathrm{d}s \tag{۴}$$

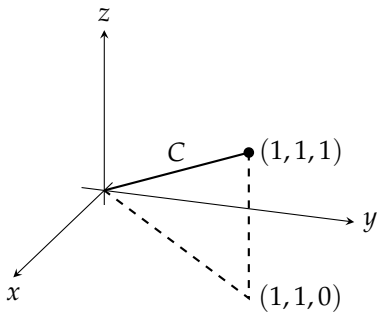

شکل ۱۵.۲: تکمل کی راہ (مثال ۱۵.۱)۔

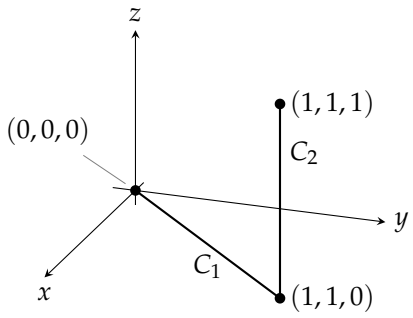

شکل ۱۵.۳: تکمل کی راہ (مثال ۱۵.۲)۔

۳۳۴۶۷ مثال ۱۵.۲: مبدا سے نقطہ $(1,1,1)$ تک راہ C_1 اور C_2 پر چل کر پہنچا جاتا ہے (شکل ۱۵.۳)۔ یوں C ان کا اشتراک $C_1 \cup C_2$ ہو گا۔

۳۳۴۶۸ تفاعل $f(x,y,z) = x - 3y^2 + z$ کے تکمل کی قیمت $C_1 \cup C_2$ پر تلاش کریں۔

۳۳۴۶۹ حل: ہم C_1 اور C_2 کے لئے، ذہن میں آنے والے سادہ ترین، مقدار معلوم روپ استعمال کرتے ہیں:

$$\begin{aligned} C_1: &\quad \boldsymbol{r}(t) = t\boldsymbol{i} + t\boldsymbol{j},\ 0 \le t \le 1; |\boldsymbol{v}| = \sqrt{1^2+1^2} = \sqrt{2} \\ C_2: &\quad \boldsymbol{r}(t) = \boldsymbol{i} + \boldsymbol{j} + t\boldsymbol{k},\ 0 \le t \le 1; |\boldsymbol{v}| = \sqrt{0^2+0^2+1^2} = 1 \end{aligned}$$

۳۳۴۷۰ ان مقدار معلوم روپ کے ساتھ درج ذیل حاصل ہو گا۔

$$\begin{aligned} \int_{C_1 \cup C_2} f(x,y,z)\,\mathrm{d}s &= \int_{C_1} f(x,y,z)\,\mathrm{d}s + \int_{C_2} f(x,y,z)\,\mathrm{d}s \qquad \text{مساوات ۴} \\ &= \int_0^1 f(t,t,0)\sqrt{2}\,\mathrm{d}t + \int_0^1 f(1,1,t)(1)\,\mathrm{d}t \\ &= \int_0^1 (t - 3t^2 + 0)\sqrt{2}\,\mathrm{d}t + \int_0^1 (1 - 3 + t)(1)\,\mathrm{d}t \\ &= \sqrt{2}\left[\frac{t^2}{2} - t^3\right]_0^1 + \left[\frac{t^2}{2} - 2t\right]_0^1 = -\frac{\sqrt{2}}{2} - \frac{3}{2} \end{aligned}$$

۳۳۴۷۱ □

۳۳۴۷۲ یہاں مثال ۱۵.۱ اور مثال ۱۵.۲ کے نتائج پر غور کرتے ہیں۔ اول، دیکھیں کہ موزوں منحنی کے اجزاء f میں پر کرتے ہی t کے لحاظ سے ایک سادہ تکمل حاصل
۳۳۴۷۳ ہوتا ہے۔ دوم، $C_1 \cup C_2$ پر f کا تکمل لینے کے لئے C_1 اور C_2 پر f کے علیحدہ علیحدہ تکملات لے کر نتائج کا مجموعہ لیا جاتا ہے۔ سوم، مثال ۱۵.۱
۳۳۴۷۴ میں C اور مثال ۱۵.۲ میں $C_1 \cup C_2$ پر تکمل کے نتائج ایک دوسرے سے مختلف تھے۔ عموماً تفاعل کے لئے دو نقطوں کے بیچ مختلف راہ پر تکملات کے
۳۳۴۷۵ نتائج ایک دوسرے سے مختلف ہوں گے۔ البتہ بعض تفاعل کے لئے تکمل کی قیمت پر راہ کا کوئی اثر نہیں ہوتا ہے۔

جدول ۱۵.۱: فضا میں ہموار منحنی C کے ہمراہ اسپرنگ، باریک سلاخ، اور تار کی کمیت اور معیار اثر کے کلیات۔

کمیت:

$$M = \int_S \delta(x, y, z)\, \mathrm{d}s$$

محددی مستویات کے لحاظ سے اول معیار اثر:

$$M_{yz} = \int_C x\delta\, \mathrm{d}s, \quad M_{xz} = \int_C y\delta\, \mathrm{d}s, \quad M_{xy} = \int_C z\delta\, \mathrm{d}s$$

مرکز کمیت کے محدد:

$$\bar{x} = \frac{M_{yz}}{M}, \quad \bar{y} = \frac{M_{xz}}{M}, \quad \bar{z} = \frac{M_{xy}}{M}$$

معیار اثر: جہاں لکیر L سے نقطہ (x, y, z) تک فاصلہ $r(x, y, z)$ ہے۔

$$I_x = \int_C (y^2 + z^2)\delta\, \mathrm{d}s \qquad I_y = \int_C (x^2 + z^2)\delta\, \mathrm{d}s$$

$$I_z = \int_C (x^2 + y^2)\delta\, \mathrm{d}s \qquad I_L = \int_C r^2\delta\, \mathrm{d}s$$

لکیر L کے لحاظ سے رداس دوار:

$$R_L = \sqrt{\frac{I_L}{M}}$$

۲۳۴۷۶ **کمیت اور معیار اثر کا حساب**

۲۳۴۷۷ ہم اسپرنگ اور تار کو فضا میں ہموار منحنی پر استمراری کمیتی کثافت $\delta(x, y, z)$ کی تقسیم تصور کرتے ہیں۔ یوں اسپرنگ یا تار کی کمیت، مرکز کمیت، اور ان
۲۳۴۷۸ کے معیار اثر اور رداس دوار کا حساب جدول ۱۵.۱ میں پیش کلیات سے کیا جائے گا۔ یہی کلیات باریک (پتلی) تار کے لئے بھی کارآمد ہوں گے۔

۲۳۴۷۹ مثال ۱۵.۳: ایک اسپرنگ درج ذیل پیچدار منحنی کے ہمراہ پایا جاتا ہے (شکل ۱۵.۴)۔

$$\boldsymbol{r}(t) = (\cos t)\boldsymbol{i} + (\sin t)\boldsymbol{j} + t\,\boldsymbol{k}, \quad 0 \le t \le 2\pi$$

۲۳۴۸۰ اسپرنگ کی کثافت مستقل $\delta = 1$ ہے۔ اسپرنگ کی کمیت اور مرکز کمیت اور محور z کے لحاظ سے جمودی معیار اثر اور رداس دوار معلوم کریں۔

۲۳۴۸۱ حل: ہم اسپرنگ کا خاکہ بناتے ہیں۔ تشاکلی کی وجہ سے اس کا مرکز کمیت محور z پر نقطہ $(0, 0, \pi)$ پر پایا جائے گا۔ باقی حساب کے لئے ہم $|\boldsymbol{v}(t)|$

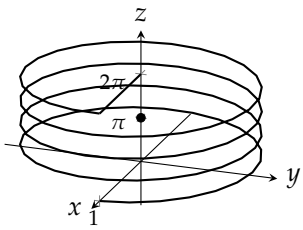

شکل ۱۵.۴: اسپرنگ برائے مثال ۱۵.۳

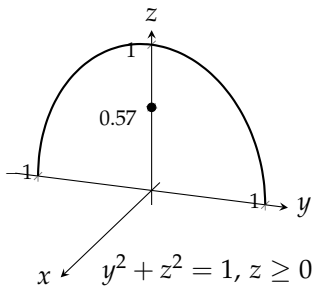

شکل ۱۵.۵: محراب کا مرکز کمیت (مثال ۱۵.۴)۔

۳۳۴۸۲ تلاش کرتے ہیں:

$$\begin{aligned}|\boldsymbol{v}(t)| &= \sqrt{\left(\frac{\mathrm{d}x}{\mathrm{d}t}\right)^2 + \left(\frac{\mathrm{d}y}{\mathrm{d}t}\right)^2 + \left(\frac{\mathrm{d}z}{\mathrm{d}t}\right)^2} \\ &= \sqrt{(-4\sin 4t)^2 + (4\cos 4t)^2 + 1} = \sqrt{17}\end{aligned}$$

۳۳۴۸۳ اب جدول ۱.۱۵ میں پیش کلیات استعمال کرتے ہوئے درج ذیل حاصل ہو گا۔

$$\begin{aligned}M &= \int\limits_{\text{پیچدار}} \delta\,\mathrm{d}s = \int_0^{2\pi} (1)\sqrt{17}\,\mathrm{d}t = 2\pi\sqrt{17} \\ I_z &= \int\limits_{\text{پیچدار}} (x^2+y^2)\delta\,\mathrm{d}s = \int_0^{2\pi} (\cos^2 4t + \sin^2 4t)(1)(\sqrt{17})\,\mathrm{d}t \\ &= \int_0^{2\pi} \sqrt{17}\,\mathrm{d}t = 2\pi\sqrt{17} \\ R_z &= \sqrt{\frac{I_z}{M}} = \sqrt{\frac{2\pi\sqrt{17}}{2\pi\sqrt{17}}} = 1\end{aligned}$$

۳۳۴۸۴ دھیان رہے کہ محور z کے لحاظ سے رداس دوار عین اس بیلن کے رداس جتنا ہے جس پر اسپرنگ لپیٹا گیا ہے۔ □

۳۳۴۸۵ مثال ۱۵.۴: مستوی yz میں نصف دائرہ $y^2 + z^2 = 1,\ z \geq 0$ پر ایک دبلا پتلا محراب پایا جاتا ہے (شکل ۱۵.۵)۔ محراب کے نقطہ
۳۳۴۸۶ (x, y, z) پر کثافت $\delta(x, y, z) = 2 - z$ ہے۔ محراب کا مرکز کمیت تلاش کریں۔

۳۳۴۸۷ حل: چونکہ یہ محراب مستوی yz میں پایا جاتا ہے اور محور z کے لحاظ سے اس کی کمیتی تقسیم دونوں اطراف یکساں ہے لہٰذا $\bar{x} = 0$ اور $\bar{y} = 0$
۳۳۴۸۸ ہوں گے۔ ہم دائرہ کی مقدار معلوم روپ

$$\boldsymbol{r}(t) = (\cos t)\boldsymbol{j} + (\sin t)\boldsymbol{k},\ 0 \leq t \leq \pi$$

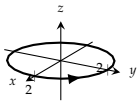

شکل ۱۵.۶

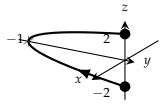

شکل ۱۵.۷

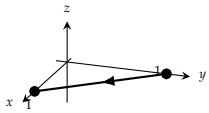

شکل ۱۵.۸

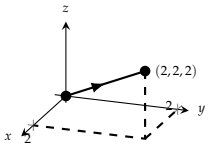

شکل ۱۵.۹

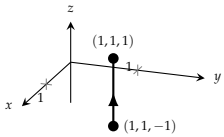

شکل ۱۵.۱۰

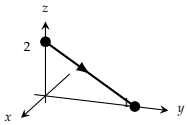

شکل ۱۵.۱۱

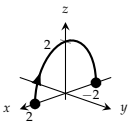

شکل ۱۵.۱۲

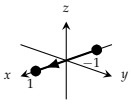

شکل ۱۵.۱۳

۲۳۴۸۹ لکھتے ہوئے $\vec{z}$ دریافت کرتے ہیں۔اس مقدار معلوم روپ کے لئے

$$|\boldsymbol{v}(t)| = \sqrt{\left(\frac{\mathrm{d}x}{\mathrm{d}t}\right)^2 + \left(\frac{\mathrm{d}y}{\mathrm{d}t}\right)^2 + \left(\frac{\mathrm{d}z}{\mathrm{d}t}\right)^2} = \sqrt{(0)^2 + (-\sin t)^2 + (\cos t)^2} = 1$$

۲۳۴۹۰ ہو گا۔یوں مذکورہ بالا کلیات استعمال کرتے ہوئے درج ذیل ہو گا۔

$$\begin{aligned}
M &= \int_C \delta\,\mathrm{d}s = \int_C (2-z)\,\mathrm{d}s = \int_0^\pi (2-\sin t)\,\mathrm{d}t = 2\pi - 2\\
M_{xy} &= \int_0^C z\delta\,\mathrm{d}s = \int_C z(2-z)\,\mathrm{d}s = \int_0^\pi (\sin t)(2-\sin t)\,\mathrm{d}t\\
&= \int_0^\pi (2\sin t - \sin^2 t)\,\mathrm{d}t = \frac{8-\pi}{2}\\
\bar{z} &= \frac{M_{xy}}{M} = \frac{8-\pi}{2}\cdot\frac{1}{2\pi-2} \approx 0.57
\end{aligned}$$

۲۳۴۹۱ یوں مرکز کمیت تقریباً $(0, 0, 0.57)$ ہو گا۔ □

۲۳۴۹۲ **سوالات**

۲۳۴۹۳ **سمتی مساوات کی ترسیمات**

۲۳۴۹۴ سوال ۱۵.۱ تا سوال ۱۵.۸ میں دی گئی مساوات کی مطابقتی ترسیم شکل ۱۵.۶ تا شکل ۱۵.۱۳ میں تلاش کریں۔سوال ۱۵.۱: $\boldsymbol{r}(t) = t\boldsymbol{i} + (1-t)\boldsymbol{j}, \quad 0 \le t \le 1$

۲۳۴۹۵

۲۳۴۹۶ سوال ۱۵.۲: $\boldsymbol{r}(t) = \boldsymbol{i} + \boldsymbol{j} + t\boldsymbol{k}, \quad -1 \le t \le 1$

۳۳۴۹۷ سوال ۱۵.۳: $\boldsymbol{r}(t) = (2\cos t)\boldsymbol{i} + (2\sin t)\boldsymbol{j}, \quad 0 \le t \le 2\pi$

۳۳۴۹۸ سوال ۱۵.۴: $\boldsymbol{r}(t) = t\boldsymbol{i}, \quad -1 \le t \le 1$

۳۳۴۹۹ سوال ۱۵.۵: $\boldsymbol{r}(t) = t\boldsymbol{i} + t\boldsymbol{j} + t\boldsymbol{k}, \quad 0 \le t \le 2$

۳۳۵۰۰ سوال ۱۵.۶: $\boldsymbol{r}(t) = t\boldsymbol{j} + (2-2t)\boldsymbol{k}, \quad 0 \le t \le 1$

۳۳۵۰۱ سوال ۱۵.۷: $\boldsymbol{r}(t) = (t^2-1)\boldsymbol{j} + 2t\boldsymbol{k}, \quad -1 \le t \le 1$

۳۳۵۰۲ سوال ۱۵.۸: $\boldsymbol{r}(t) = (2\cos t)\boldsymbol{i} + 2\sin t\boldsymbol{k}, \quad 0 \le t \le \pi$

۳۳۵۰۳ **فضائی منحنیات پر تکمل کی قیمت کا حصول**

۳۳۵۰۴ سوال ۱۵.۹: تکمل $\int_C (x+y)\,\mathrm{ds}$ کی قیمت حاصل کریں جہاں C نقطہ $(0,1,0)$ تا $(1,0,0)$ خط مستقیم $x = t$ ، $y =$
۳۳۵۰۵ $(1-t)$ ، $z = 0$ ہے۔

۳۳۵۰۶ سوال ۱۵.۱۰: تکمل $\int_C (x-y+z-2)\,\mathrm{ds}$ کی قیمت حاصل کریں جہاں C نقطہ $(0,1,1)$ تا $(1,0,1)$ خط مستقیم $x =$
۳۳۵۰۷ t ، $y = (1-t)$ ، $z = 1$ ہے۔

۳۳۵۰۸ سوال ۱۵.۱۱: تکمل $\int_C (xy+y+z)\,\mathrm{ds}$ کی قیمت منحنی $\boldsymbol{r}(t) = 2t\boldsymbol{i} + t\boldsymbol{j} + (2-2t)\boldsymbol{k},\ 0 \le t \le 1$ پر حاصل
۳۳۵۰۹ کریں۔

۳۳۵۱۰ سوال ۱۵.۱۲: منحنی $\boldsymbol{r}(t) = 4\cos t\boldsymbol{i} + 4\sin t\boldsymbol{j} + 3t\boldsymbol{k},\ -2\pi \le t \le 2\pi$ پر تکمل $\int_C \sqrt{x^2+y^2}\,\mathrm{ds}$
۳۳۵۱۱ کی قیمت حاصل کریں۔

۳۳۵۱۲ سوال ۱۵.۱۳: تفاعل $f(x,y,z) = x+y+z$ کا تکمل $(1,2,3)$ تا $(0,-1,1)$ خط مستقیم قطع پر تلاش کریں۔

۳۳۵۱۳ سوال ۱۵.۱۴: تفاعل $f(x,y,z) = \frac{\sqrt{3}}{x^2+y^2+z^2}$ کا تکمل منحنی $\boldsymbol{r}(t) = t\boldsymbol{i} + t\boldsymbol{j} + t\boldsymbol{k},\ 1 \le t \le \infty$ پر تلاش کریں۔

۳۳۵۱۴ سوال ۱۵.۱۵: تفاعل $f(x,y,z) = x + \sqrt{y} - z^2$ کا تکمل $(0,0,0)$ تا $(1,1,1)$ درج ذیل راہ پر چلتے ہوئے تلاش کریں
۳۳۵۱۵ (شکل ۱۵.۱۴)۔

$$
\begin{aligned}
C_1: &\quad \boldsymbol{r}(t) = t\boldsymbol{i} + t^2\boldsymbol{j}, \quad 0 \le t \le 1\\
C_2: &\quad \boldsymbol{r}(t) = \boldsymbol{i} + \boldsymbol{j} + t\boldsymbol{k}, \quad 0 \le t \le 1
\end{aligned}
$$

۳۳۵۱۶ سوال ۱۵.۱۶: تفاعل $f(x,y,z) = x + \sqrt{y} - z^2$ کا تکمل $(0,0,0)$ تا $(1,1,1)$ درج ذیل راہ پر چلتے ہوئے تلاش کریں
۳۳۵۱۷ (شکل ۱۵.۱۵)۔

$$
\begin{aligned}
C_1: &\quad \boldsymbol{r}(t) = t\boldsymbol{k}, \quad 0 \le t \le 1\\
C_2: &\quad \boldsymbol{r}(t) = t\boldsymbol{j} + \boldsymbol{k}, \quad 0 \le t \le 1\\
C_3: &\quad \boldsymbol{r}(t) = t\boldsymbol{i} + \boldsymbol{j} + \boldsymbol{k}, \quad 0 \le t \le 1
\end{aligned}
$$

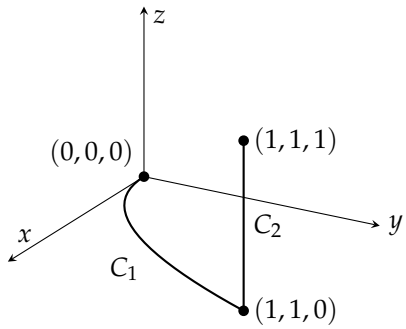

شکل ۱۵.۱۴: راہ برائے تکمل (سوال ۱۵.۱۵)

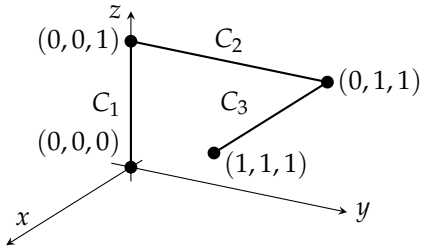

شکل ۱۵.۱۵: ٹکڑوں میں خطی راہ برائے سوال ۱۵.۱۶

۲۳۵۱۸ سوال ۱۵.۱۷: تفاعل $f(x,y,z) = \frac{x+y+z}{x^2+y^2+z^2}$ کا تکمل راہ $\boldsymbol{r}(t) = t\boldsymbol{i} + t\boldsymbol{j} + t\boldsymbol{k},\ 0 < a \le t \le b$ پر تلاش
۲۳۵۱۹ کریں۔

۲۳۵۲۰ سوال ۱۵.۱۸: تفاعل $f(x,y,z) = -\sqrt{x^2+z^2}$ کا تکمل درج ذیل دائری راہ پر تلاش کریں۔

$$\boldsymbol{r}(t) = (a\cos t)\boldsymbol{i} + (a\sin t)\boldsymbol{k}, \quad 0 \le t \le 2\pi$$

۲۳۵۲۱ **مسطح منحنیات پر لکیری تکملات**

۲۳۵۲۲ سوال ۱۵.۱۹ تا سوال ۱۵.۲۲ میں f کا تکمل دی گئی منحنی پر تلاش کریں۔

۲۳۵۲۳ سوال ۱۵.۱۹: $f(x,y) = \frac{x^3}{y}, \quad C:\ y = \frac{x^2}{2}, \quad 0 \le x \le 2$

۲۳۵۲۴ سوال ۱۵.۲۰: $f(x,y) = \frac{x+y^2}{\sqrt{1+x^2}}, \quad C:\ y = \frac{x^2}{2},$ $(0,0)$ سے $(1,\frac{1}{2})$ تک

۲۳۵۲۵ سوال ۱۵.۲۱: $f(x,y) = x+y, \quad C:\ x^2+y^2 = 4,$ ربع اول میں $(2,0)$ سے $(0,2)$ تک

۲۳۵۲۶ سوال ۱۵.۲۲: $f(x,y) = x^2-y, \quad C:\ x^2+y^2 = 4,$ ربع اول میں $(0,2)$ سے $(\sqrt{2},\sqrt{2})$ تک

۲۳۵۲۷

۲۳۵۲۸ **کمیت اور معیار اثر**

۲۳۵۲۹ سوال ۱۵.۲۳: ایک پتلی تار جس کی کثافت $\delta = \frac{3}{2}t$ ہے منحنی $\boldsymbol{r}(t) = (t^2-1)\boldsymbol{j} + 2t\boldsymbol{k},\ 0 \le t \le 1$ کے ساتھ ساتھ پائی
۲۳۵۳۰ جاتی ہے۔ اس تار کی کمیت تلاش کریں۔

۲۳۵۳۱ سوال ۱۵.۲۴: ایک پتلی تار جس کی کثافت $\delta(x,y,z) = 15\sqrt{y+2}$ ہے منحنی $\boldsymbol{r}(t) = (t^2-1)\boldsymbol{j} +$
۲۳۵۳۲ $2t\boldsymbol{k},\ -1 \le t \le 1$ کے ساتھ ساتھ پائی جاتی ہے۔ اس تار کا مرکز کمیت تلاش کریں۔ اس منحنی کو ترسیم کر کے اس پر مرکز کمیت دکھائیں۔

سوال ۱۵.۲۵: منحنی $\boldsymbol{r}(t) = \sqrt{2}t\boldsymbol{j} + (4-t^2)\boldsymbol{k}\ 0 \le t \le 1$ کے ساتھ ساتھ ایک پتلی تار پائی جانے والی تار کی کثافت (ا) $\delta = 3t$، (ب) $\delta = 1$ ہے۔ اس تار کا مرکز کمیت تلاش کریں۔

سوال ۱۵.۲۶: ایک پتلی تار جس کی کثافت $\delta = 3\sqrt{5+t}$ ہے منحنی $\boldsymbol{r}(t) = t\boldsymbol{i} + 2t\boldsymbol{j} + \frac{2}{3}t^{3/2}\boldsymbol{k},\ 0 \le t \le 2$ کے ساتھ ساتھ پائی جاتی ہے۔ اس تار کی کمیت تلاش کریں۔

سوال ۱۵.۲۷: مستوی xy میں دائرہ $x^2 + y^2 = a^2$ پر مستقل کثافت δ کی ایک پتلی تار پائی جاتی ہے۔ محور z کے لحاظ سے اس تار کا جمودی معیار اثر اور رداس دوار تلاش کریں۔

سوال ۱۵.۲۸: مستوی yz میں لکیری قطع $\boldsymbol{r}(t) = t\boldsymbol{j} + (2-2t)\boldsymbol{k},\ 0 \le t \le 1$ پر مستقل کثافت کی ایک پتلی تار پائی جاتی ہے۔ تینوں محددی محوروں کے لحاظ سے اس تار کا جمودی معیار اثر اور رداس دوار تلاش کریں۔

سوال ۱۵.۲۹: مستقل کثافت δ کی ایک پتلی تار پیچدار منحنی $\boldsymbol{r}(t) = (\cos t)\boldsymbol{i} + (\sin t)\boldsymbol{j} + t\boldsymbol{k},\ 0 \le t \le 2\pi$ کے ساتھ ساتھ پائی جاتی ہے۔ (ا) I_z اور R_z تلاش کریں۔ (ب) فرض کریں مستقل کثافت δ کی ایک دوسری پتلی تار، جس کی لمبائی دگنی ہے ($0 \le t \le 4\pi$)، اسی منحنی $\boldsymbol{r}(t)$ کے ساتھ ساتھ پائی جاتی ہے۔ بغیر حل کیے بتلائیں کہ آیا اس تار کا جمودی معیار اثر اور رداس دوار پہلی تار سے مختلف ہوں گے؟ اب انہیں حل کر کے اپنے جواب کی تصدیق کریں۔

سوال ۱۵.۳۰: منحنی $\boldsymbol{r}(t) = (t\cos t)\boldsymbol{i} + (t\sin t)\boldsymbol{j} + (\frac{2\sqrt{2}}{3})t^{3/2}\boldsymbol{k},\ 0 \le t \le 1$ کے ساتھ ساتھ مستقل کثافت $\delta = 1$ کی ایک پتلی تار پائی جاتی ہے۔ اس کی $\bar{z}$، I_z اور R_z تلاش کریں۔

سوال ۱۵.۳۱: I_z اور R_z مثال ۱۵.۴ کی محراب کے لئے تلاش کریں۔

سوال ۱۵.۳۲: ایک پتلی تار جس کی کثافت $\delta = \frac{1}{t+1}$ ہے منحنی $\boldsymbol{r}(t) = t\boldsymbol{i} + \frac{2\sqrt{2}}{3}t^{3/2}\boldsymbol{j} + \frac{t^2}{2}\boldsymbol{k},\ 0 \le t \le 2$ کے ساتھ ساتھ پائی جاتی ہے۔ اس تار کا مرکز کمیت اور محددی محوروں کے لحاظ سے جمودی معیار اثر اور رداس دوار تلاش کریں۔

کمپیوٹر کا استعمال

سوال ۱۵.۳۳ تا سوال ۱۵.۳۶ میں کمپیوٹر پر درج ذیل اقدام سے تکمل کی قیمت تلاش کریں۔

ا. راہ $\boldsymbol{r}(t) = g(t)\boldsymbol{i} + h(t)\boldsymbol{j} + k(t)\boldsymbol{k}$ کے لئے $\mathrm{d}s = |\boldsymbol{v}(t)|\,\mathrm{d}t$ دریافت کریں۔

ب. متکمل $f(g(t), h(t), k(t))|\boldsymbol{v}(t)|$ کو مقدار معلوم t کا تفاعل لکھیں۔

ج. تکمل $\int_C f\,\mathrm{d}s$ کی قیمت مساوات ۳ کی مدد سے حاصل کریں۔

سوال ۱۵.۳۳: $f(x,y,z) = \sqrt{1+30x^2+10y};\quad \boldsymbol{r}(t) = t\boldsymbol{i} + t^2\boldsymbol{j} + 3t^2\boldsymbol{k},\quad 0 \le t \le 2$

سوال ۱۵.۳۴: $f(x,y,z) = \sqrt{1+x^3+5y^3};\quad \boldsymbol{r}(t) = t\boldsymbol{i} + \frac{1}{3}t^2\boldsymbol{j} + \sqrt{t}\boldsymbol{k},\quad 0 \le t \le 2$

سوال ۱۵.۳۵: $f(x,y,z) = x\sqrt{y} - 3z^2;\ \boldsymbol{r}(t) = \cos 2t\boldsymbol{i} + \sin 2t\boldsymbol{j} + 5t\boldsymbol{k},\quad 0 \le t \le 2\pi$

سوال ۱۵.۳۶: $f(x,y,z) = \left(1 + \frac{9}{4}z^{1/3}\right)^{1/4};\ \boldsymbol{r}(t) = \boldsymbol{r}(t) = \cos 2t\boldsymbol{i} + \sin 2t\boldsymbol{j} + t^{5/2}\boldsymbol{k},\quad 0 \le t \le 2\pi$

۱۵.۲ سمتی میدان، کام، دائری بہاؤ، اور بہاؤ

ان طبیعی مظہر کے مطالعہ کے دوران، جنہیں سمتیات سے ظاہر کیا جاتا ہے، بند راہ پر تکملات کے بجائے سمتی میدان میں راہ پر تکملات استعمال کیے جاتے ہیں۔ متغیر قوت کے خلاف ایک مقام سے دوسری مقام کسی جسم کو منتقل کرنے (جیسا قوت ثقل کے خلاف خلاء میں سواری بھیجنے) یا سمتی میدان میں ایک جسم کو کسی راہ پر حرکت دینے (جیسا مسرع کسی ذرے کی توانائی بڑھاتا ہو) کے لئے درکار کام اس طرح کے تکملات سے حاصل کیے جاتے ہیں۔ منحنیات عبور کرتا ہوا سیال کے بہاؤ کی شرح بھی لکیری تکملات سے حاصل کی جاتی ہے۔

سمتی میدان

مستوی یا فضا میں دائرہ کار پر **سمتی میدان**[۲] سے مراد ایسا تفاعل ہے جو دائرہ کار کے ہر نقطہ کو ایک سمتیہ مختص کرتا ہو۔ سہ ابعادی سمتیات کے میدان کا ایک کلیہ درج ذیل ہو سکتا ہے۔

$$\boldsymbol{F}(x,y,z) = M(x,y,z)\boldsymbol{i} + N(x,y,z)\boldsymbol{j} + P(x,y,z)\boldsymbol{k}$$

استمراری جزوی تفاعل M ، N ، P کی صورت میں یہ میدان استمراری ہو گا، قابل تفرق M ، N ، P کی صورت میں یہ میدان قابل تفرق ہو گا، وغیرہ وغیرہ۔ دو ابعادی سمتیات کے میدان کا ایک کلیہ درج ذیل ہو سکتا ہے۔

$$\boldsymbol{F}(x,y) = M(x,y)\boldsymbol{i} + N(x,y)\boldsymbol{j}$$

گول انداز کی گزرگاہ کے مستوی میں گزرگاہ کے ہر نقطہ کے ساتھ گول انداز کا سمتی رفتاری سمتیہ منسلک کرنے سے گزرگاہ کے ہمراہ دو ابعادی میدان حاصل ہو گا۔ غیر سمتی تفاعل کے ہم قد سطح کے ہر نقطہ کے ساتھ تفاعل کا سمتیہ ڈھلوان منسلک کرنے سے سطح پر سہ ابعادی میدان حاصل ہو گا۔ متحرک سیال کے ہر نقطہ کے ساتھ سمتی رفتاری سمتیہ منسلک کرنے سے فضا میں اس خطہ پر سہ ابعادی میدان حاصل ہو گا۔ بشمول ان کے چند میدان شکل ۱۵.۱۶ تا شکل ۱۵.۲۰ میں دکھائے گئے ہیں جہاں کچھ میدانوں کے کلیات بھی دیے گئے ہیں۔

وہ میدان ترسیم کرنے کے لئے جن کے کلیات معلوم ہوں، ہم دائرہ کار میں چند نقطے منتخب کر کے ان نقطوں پر نقطوں کے ساتھ منسلک سمتیات کا خاکہ بناتے ہیں۔ دھیان رہے کہ روایتی طور پر اس نقطہ پر، جہاں سمتی تفاعل کی قیمت حاصل کی گئی ہو، سمتیہ ظاہر کرنے والی تیر دار لکیر کی دُم رکھی جاتی ہے نا کہ سر۔ تعین گر سمتیات (باب ۱۲) کے لئے ایسا نہیں کیا جاتا ہے بلکہ تعین گر سمتیات کو ظاہر کرنے والی تیر دار لکیر کی دُم مبدا پر رکھی جاتی ہے جبکہ اس کا سر سیارہ یا گول انداز کے مقام پر رکھا جاتا ہے۔

میدان ڈھلوان

تعریف: قابل تفرق تفاعل $f(x,y,z)$ کے **میدان ڈھلوان**[۳] سے مراد سمتیات ڈھلوان

$$\nabla f = \frac{\partial f}{\partial x}\boldsymbol{i} + \frac{\partial f}{\partial y}\boldsymbol{j} + \frac{\partial f}{\partial z}\boldsymbol{k}$$

---

[۲] vectorfield
[۳] gradientfield

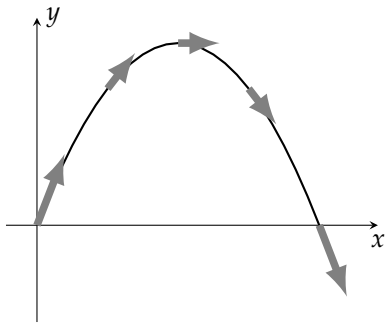

شکل ۱۵.۱۶: گول انداز کے سمتی رفتاری سمتیات $\boldsymbol{v}(t)$ سمتی میدان دیتے ہیں۔

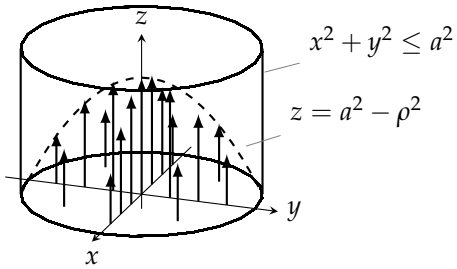

شکل ۱۵.۱۷: لمبی نالی میں سیال کی حرکت۔ سمتیات $\boldsymbol{v} = (a^2 - \rho^2)\boldsymbol{k}$ کی دُم مستوی xy میں اور سر قطع مکافی $z = a^2 - \rho^2$ پر پائے جاتے ہیں۔

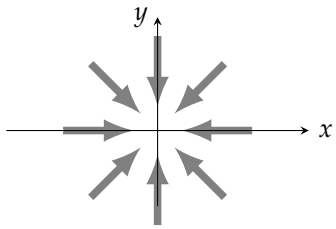

شکل ۱۵.۱۸: ثقلی میدان $\boldsymbol{F} = -\frac{GM(x\boldsymbol{i}+y\boldsymbol{j}+z\boldsymbol{k})}{(x^2+y^2+z^2)^{3/2}}$ میں سمتیات۔

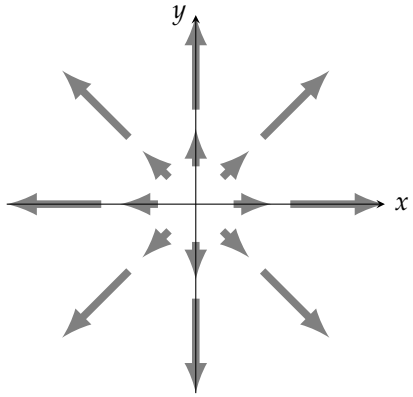

شکل ۱۵.۱۹: مستوی میں مختلف نقاط پر رداسی میدان $\boldsymbol{F} = x\boldsymbol{i} + y\boldsymbol{j}$ جہاں تیر دار لکیر کی دُم اس نقطہ پر رکھی جاتی ہے جہاں کا سمتیہ درکار ہو۔

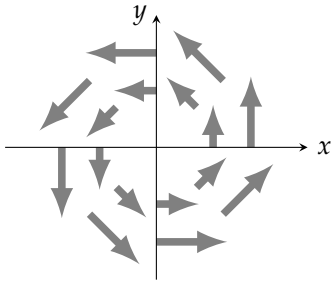

شکل ۱۵.۲۰: اکائی سمتیات $\boldsymbol{F} = \frac{-y\boldsymbol{i}+x\boldsymbol{j}}{\sqrt{x^2+y^2}}$ کا چکری میدان۔

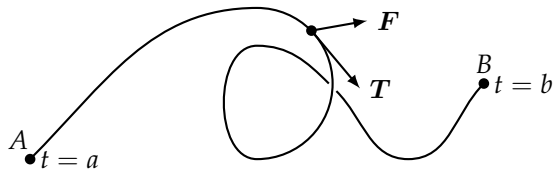

شکل ۱۵.۲۱: ہموار راہ $\boldsymbol{r}(t) = g(t)\boldsymbol{i} + h(t)\boldsymbol{j} + k(t)\boldsymbol{k}$ پر A سے B تک استراری قوت $\boldsymbol{F}$ کا کام $t = a$ تا $t = b$ راہ کے ہمراہ $\boldsymbol{F} \cdot \boldsymbol{T}$ کا تکمل ہوگا۔

۲۳۵۸۲ کا میدان ہے۔

۲۳۵۸۳ □

۲۳۵۸۴ مثال ۱۵.۵: تفاعل $f(x, y, z) = xyz$ کا میدان ڈھلوان تلاش کریں۔

۲۳۵۸۵ حل: تفاعل f کے میدان ڈھلوان سے مراد میدان $\boldsymbol{F} = \nabla f = yz\boldsymbol{i} + xz\boldsymbol{j} + xy\boldsymbol{k}$ ہے۔ □

۲۳۵۸۶ ہم دیکھیں گے کہ انجینئری، ریاضیات، طبیعیات، وغیرہ میں میدان ڈھلوان خصوصی اہمیت رکھتے ہیں۔

۲۳۵۸۷ فضا میں منحنی کے ہمراہ قوت کا کیا ہوا کام

۲۳۵۸۸ فرض کریں فضا کے ایک خطہ میں سمتی میدان $\boldsymbol{F} = M(x, y, z)\boldsymbol{i} + N(x, y, z)\boldsymbol{j} + P(x, y, z)\boldsymbol{k}$ ایک قوت کو ظاہر کرتا ہے
۲۳۵۸۹ (یہ قوت ثقل یا کسی قسم کی برقناطیسی قوت ہو سکتی ہے) جبکہ اس خطہ میں درج ذیل ایک ہموار منحنی ہے۔

$$\boldsymbol{r}(t) = g(t)\boldsymbol{i} + h(t)\boldsymbol{j} + k(t)\boldsymbol{k}, \quad a \le t \le b$$

۲۳۵۹۰ ایسی صورت میں منحنی پر $\boldsymbol{F} \cdot \boldsymbol{T}$، اکائی مماسی سمتیہ کے رخ $\boldsymbol{F}$ کا غیر سمتی جزو، کے تکمل کو a تا b $\boldsymbol{F}$ کا کیا ہوا کام کہتے ہیں (شکل ۱۵.۲۱)۔

۲۳۵۹۱ تعریف: ہموار منحنی $\boldsymbol{r}(t) = g(t)\boldsymbol{i} + h(t)\boldsymbol{j} + k(t)\boldsymbol{k}$ پر a تا b قوت $\boldsymbol{F} = M(x, y, z)\boldsymbol{i} +$
۲۳۵۹۲ $N(x, y, z)\boldsymbol{j} + P(x, y, z)\boldsymbol{k}$ کا کیا ہوا کام W درج ذیل ہوگا۔

$$W = \int_{t=1}^{t=b} \boldsymbol{F} \cdot \boldsymbol{T}\, \mathrm{d}s \tag{۱}$$

۲۳۵۹۳ □

۲۳۵۹۴ مثبت محور x رخ مقدار $F(x)$ کی استراری قوت کے کام کا کلیہ $W = \int_a^b F(x)\, \mathrm{d}x$ حصہ ۶.۸ میں اخذ کیا گیا۔ مساوات ۱ کے حصول کے
۲۳۵۹۵ دلائل وہی ہیں۔ ہم منحنی کو چھوٹے قطعات میں تقسیم کر کے، ہر قطع پر کام کو تخمیناً مستقل قوت ضرب فاصلہ لے کر، نتائج کے مجموعہ کو منحنی پر کام کی تخمینی

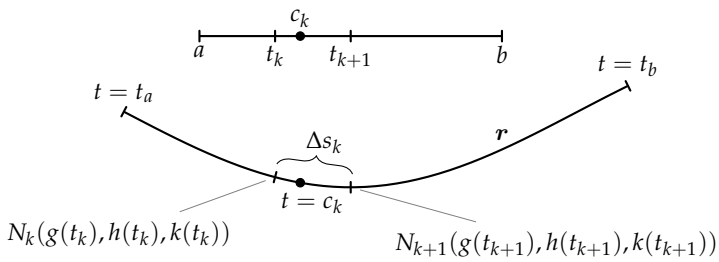

شکل ۱۵.۲۲: مقدار معلوم وقفہ $a \le t \le b$ کی ہر خانہ بندی منحنی $\boldsymbol{r} = g(t)\boldsymbol{i} + h(t)\boldsymbol{j} + k(t)\boldsymbol{k}$ کی خانہ بندی پیدا کرتی ہے۔

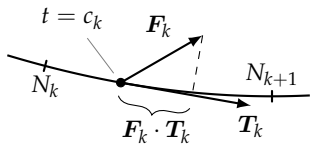

شکل ۱۵.۲۳: گزشتہ شکل کے قطع N_kN_{k+1} کو بڑا کر کے $t = c_k$ کے مطابقتی نقطہ پر اکائی مماسی سمتیہ $\boldsymbol{T}$ اور قوت سمتیہ $\boldsymbol{F}$ دکھائے گئے ہیں۔

قیمت حاصل کرتے ہیں، اور قطعات کی تعداد زیادہ سے زیادہ کر کے ہر قطع کی لمبائی کم سے کم کرتے ہوئے، تخمینی مجموعات کی تحدیدی قیمت کو کام کی تعریف لیتے ہیں۔ یہ جاننے کے لئے کہ تحدیدی تکمل کی قیمت کیا ہو گی، ہم قطع $[a, b]$ کی خانہ بندی عمومی طرح کر کے ہر ذیلی قطع $[t_k, t_{k+1}]$ پر نقطہ c_k منتخب کرتے ہیں۔ قطع I کی خانہ بندی منحنی کی خانہ بندی تعین (پیدا) کرتی ہے، جہاں تعین گر سمتیہ $\boldsymbol{r}$ کا سر نقطہ N_k پر ہو گا اور ذیلی قطع N_kN_{k+1} کی لمبائی Δs_k ہو گی (شکل ۱۵.۲۲)۔ اگر منحنی پر $t = c_k$ کے مطابقتی نقطہ پر $\boldsymbol{F}$ کی قیمت $\boldsymbol{F}_k$ اور منحنی کا مماسی سمتیہ $\boldsymbol{T}_k$ ہو تب $t = c_k$ پر $\boldsymbol{T}$ کے رخ $\boldsymbol{F}$ کا غیر سمتی جزو $\boldsymbol{F}_k \cdot \boldsymbol{T}_k$ ہو گا (شکل ۱۵.۲۳)۔ منحنی کے قطع N_kN_{k+1} کے ہمراہ $\boldsymbol{F}$ کا کیا ہوا کام تخمیناً درج ذیل ہو گا۔

$$(\text{حرکت کے رخ قوت کا جزو}) \times (\text{طے فاصلہ}) = \boldsymbol{F}_k \cdot \boldsymbol{T}_k \Delta s_k$$

منحنی کے ہمراہ $t = a$ تا $t = b$ کام تخمیناً درج ذیل ہو گا۔

$$\sum_{k=1}^{n} \boldsymbol{F}_k \cdot \boldsymbol{T}_k \Delta s_k$$

جیسا جیسا $[a, b]$ کے خانہ بندی کا معیار صفر کے قریب سے قریب ہوتا ہے، ویسے ویسے منحنی کی پیدا کردہ خانہ بندی کا معیار بھی صفر کے قریب سے قریب ہوتا ہے اور مجموعہ درج ذیل لکیری تکمل کو پہنچتا ہے۔

$$\int_{t=a}^{t=b} \boldsymbol{F} \cdot \boldsymbol{T} \, \mathrm{d}s$$

اس تکمل سے حاصل عدد کی علامت، t بڑھانے سے حاصل پر چلنے کے، رخ پر منحصر ہو گی۔ منحنی پر چلنے کا رخ الٹ کرنے سے $\boldsymbol{T}$ کا رخ الٹ ہو گا جس کی وجہ سے $\boldsymbol{F} \cdot \boldsymbol{T}$ اور تکمل کی علامت الٹ ہو گی۔

جدول ۱۵.۲: تکمل کام لکھنے کے چھ طریقے۔

$W = \int_{t=a}^{t=b} \boldsymbol{F} \cdot \boldsymbol{T}\, \mathrm{d}s$	تعریف
$= \int_a^b \boldsymbol{F} \cdot \mathrm{d}\boldsymbol{r}$	مختصر تفریقی روپ
$= \int_a^b \boldsymbol{F} \cdot \frac{\mathrm{d}\boldsymbol{r}}{\mathrm{d}t}\, \mathrm{d}t$	پھیلا کر $\mathrm{d}t$ شامل کیا گیا؛ مقدار معلوم t اور سمتی رفتار $\frac{\mathrm{d}\boldsymbol{r}}{\mathrm{d}t}$ اجاگر کیے گئے
$= \int_a^b \left(M\frac{\mathrm{d}g}{\mathrm{d}t} + N\frac{\mathrm{d}h}{\mathrm{d}t} + P\frac{\mathrm{d}k}{\mathrm{d}t}\right) \mathrm{d}t$	جزوی تفاعل اجاگر کیے گئے
$= \int_a^b \left(M\frac{\mathrm{d}x}{\mathrm{d}t} + N\frac{\mathrm{d}y}{\mathrm{d}t} + P\frac{\mathrm{d}z}{\mathrm{d}t}\right) \mathrm{d}t$	$\boldsymbol{r}$ کے اجزاء استعمال کیے گئے
$= \int_a^b M\,\mathrm{d}x + N\,\mathrm{d}y + P\,\mathrm{d}z$	$\mathrm{d}t$ منسوخ کر کے عمومی روپ حاصل کیا گیا

۲۳۶۰۷ **علامتیت اور قیمت کا حصول**

۲۳۶۰۸ تکمل کام (مساوات ۱) لکھنے کے چھ طریقے جدول ۱۵.۲ میں پیش ہیں۔

۲۳۶۰۹ جدول ۱۵.۲ کے کلیات کی قیمتوں کا حصول، بظاہر مختلف روپ کے باوجود، ایک ہی طرح کیا جاتا ہے۔

۲۳۶۱۰ تکمل کام کی قیمت کا حصول

۲۳۶۱۱ تکمل کام کی قیمت حاصل کرنے کے اقدام درج ذیل ہیں۔

۲۳۶۱۲ ۱. منحنی پر $\boldsymbol{F}$ کی قیمت مقدار معلوم t کے تفاعل کے روپ میں لکھیں۔

۲۳۶۱۳ ۲. تفرق $\frac{\mathrm{d}\boldsymbol{r}}{\mathrm{d}t}$ تلاش کریں۔

۲۳۶۱۴ ۳. $\boldsymbol{F}$ اور $\frac{\mathrm{d}\boldsymbol{r}}{\mathrm{d}t}$ کا غیر سمتی ضرب لیں۔

۲۳۶۱۵ ۴. $t = a$ سے $t = b$ تک تکمل کریں۔

۲۳۶۱۶ مثال ۱۵.۶: منحنی $\boldsymbol{r}(t) = t\boldsymbol{i} + t^2\boldsymbol{j} + t^3\boldsymbol{k},\ 0 \le t \le 1$ کے ہمراہ $(0,0,0)$ سے $(1,1,1)$ تک $\boldsymbol{F} = (y - x^2)\boldsymbol{i} + (z - y^2)\boldsymbol{j} + (x - z^2)\boldsymbol{k}$ کا کام تلاش کریں (شکل ۱۵.۲۴)۔

۲۳۶۱۸ حل:

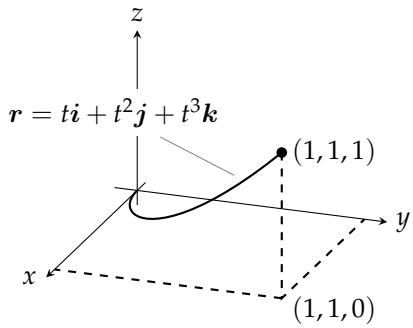

شکل ۱۵.۲۴: منحنی برائے مثال ۱۵.۶

۲۳۶۱۹ پہلا قدم: منحنی پر $\boldsymbol{F}$ کی قیمت کا حصول۔

$$\begin{aligned}\boldsymbol{F} &= (y - x^2)\boldsymbol{i} + (z - y^2)\boldsymbol{j} + (x - z^2)\boldsymbol{k}\\ &= (\underbrace{t^2 - t^2}_{0})\boldsymbol{i} + (t^3 - t^4)\boldsymbol{j} + (t - t^6)\boldsymbol{k}\end{aligned}$$

۲۳۶۲۰ دوسرا قدم: $\frac{\mathrm{d}\boldsymbol{r}}{\mathrm{d}t}$ حاصل کرتے ہیں۔

$$\frac{\mathrm{d}\boldsymbol{r}}{\mathrm{d}t} = \frac{\mathrm{d}}{\mathrm{d}t}(t\boldsymbol{i} + t^2\boldsymbol{j} + t^3\boldsymbol{k}) = \boldsymbol{i} + 2t\boldsymbol{j} + 3t^2\boldsymbol{k}$$

۲۳۶۲۱ تیسرا قدم: $\boldsymbol{F}$ اور $\frac{\mathrm{d}\boldsymbol{r}}{\mathrm{d}t}$ کا غیر سمتی ضرب۔

$$\begin{aligned}\boldsymbol{F} \cdot \frac{\mathrm{d}\boldsymbol{r}}{\mathrm{d}t} &= [(t^3 - t^4)\boldsymbol{j} + (t - t^6)\boldsymbol{k}] \cdot (\boldsymbol{i} + 2t\boldsymbol{j} + 3t^2\boldsymbol{k})\\ &= (t^3 - t^4)(2t) + (t - t^6)(3t^2) = 2t^4 - 2t^5 + 3t^3 - 3t^8\end{aligned}$$

۲۳۶۲۲ چوتھا قدم: $t = 0$ تا $t = 1$ تکمل۔

$$\begin{aligned}\text{کام} = W &= \int_0^1 (2t^4 - 2t^5 + 3t^3 - 3t^8)\,\mathrm{d}t\\ &= \left[\frac{2}{5}t^5 - \frac{2}{6}t^6 + \frac{3}{4}t^4 - \frac{3}{9}t^9\right]_0^1 = \frac{29}{60}\end{aligned}$$

۲۳۶۲۳ □

تکمل ہمراہ بہاؤ اور دائری بہاؤ

فرض کریں $\boldsymbol{F} = M\boldsymbol{i} + N\boldsymbol{j} + P\boldsymbol{k}$ میدان قوت کے بجائے فضا کے ایک خطہ (مثلاً پانی سے چلنے والے جنریٹر کا چرخی خانہ یا سمندری طاس) میں بہتا ہوا سیال کے سمتی رفتاری میدان کو ظاہر کرتا ہے۔ ایسی صورت میں منحنی کے ہمراہ $\boldsymbol{F} \cdot \boldsymbol{T}$ کا تکمل، منحنی کے ہمراہ سیال کا بہاؤ دے گا۔

تعریف: استمراری سمتی رفتاری میدان کے دائرہ کار میں ہموار منحنی $\boldsymbol{r}(t) = g(t)\boldsymbol{i} + h(t)\boldsymbol{j} + k(t)\boldsymbol{k},\ a \le t \le b$ پر a سے b تک $\boldsymbol{F} \cdot \boldsymbol{T}$ کا تکمل، $t = a$ سے $t = b$ تک منحنی کا ہمراہ بہاؤ دے گا:

$$\text{ہمراہ بہاؤ} = \int_a^b \boldsymbol{F} \cdot \boldsymbol{T}\, \mathrm{d}s \qquad (۲)$$

اس تکمل کو **تکمل ہمراہ بہاؤ**[۴] کہتے ہیں۔ بند منحنی کی صورت میں اس بہاؤ کو منحنی کے گرد منحنی کے ہمراہ **دائری بہاؤ**[۵] کہتے ہیں۔

□

تکمل ہمراہ بہاؤ کی قیمت بھی تکمل کام کی قیمت کی طرح حاصل کی جاتی ہے۔

مثال ۱۵.۷: ایک سیال کا سمتی رفتاری میدان $\boldsymbol{F} = x\boldsymbol{i} + z\boldsymbol{j} + y\boldsymbol{k}$ ہے۔ درج ذیل پیچدار منحنی کے ساتھ ساتھ اس کے ہمراہ بہاؤ تلاش کریں۔

$$\boldsymbol{r}(t) = (\cos t)\boldsymbol{i} + (\sin t)\boldsymbol{j} + t\boldsymbol{k},\ 0 \le t \le \frac{\pi}{2}$$

حل:

پہلا قدم: منحنی پر $\boldsymbol{F}$ کی قیمت تلاش کرتے ہیں۔

$$\boldsymbol{F} = x\boldsymbol{i} + z\boldsymbol{j} + y\boldsymbol{k} = (\cos t)\boldsymbol{i} + (\sin t)\boldsymbol{i} + t\boldsymbol{k}$$

دوسرا قدم: $\frac{\mathrm{d}\boldsymbol{r}}{\mathrm{d}t}$ تلاش کرتے ہیں۔

$$\frac{\mathrm{d}\boldsymbol{r}}{\mathrm{d}t} = (-\sin t)\boldsymbol{i} + (\cos t)\boldsymbol{j} + \boldsymbol{k}$$

تیسرا قدم: غیر سمتی ضرب $\boldsymbol{F} \cdot \frac{\mathrm{d}\boldsymbol{r}}{\mathrm{d}t}$ تلاش کرتے ہیں۔

$$\begin{aligned}\boldsymbol{F} \cdot \frac{\mathrm{d}\boldsymbol{r}}{\mathrm{d}t} &= (\cos t)(-\sin t) + (t)(\cos t) + (\sin t)(1)\\ &= -\sin t \cos t + t\cos t + \sin t\end{aligned}$$

---

[۴] flowintegral
[۵] circulation

۲۳۶۳۸ چوتھا قدم: $t = a$ تا $t - b$ تکمل لیتے ہیں۔

$$\text{بہاؤ} = \int_{t=a}^{t=b} \boldsymbol{F} \cdot \frac{\mathrm{d}\boldsymbol{r}}{\mathrm{d}t}\,\mathrm{d}t = \int_0^{\pi/2} (-\sin t \cos t + t\cos t + \sin t)\,\mathrm{d}t$$
$$= \left[\frac{\cos^2 t}{2} + \sin t\right]_0^{\pi/2} = \left(0 + \frac{\pi}{2}\right) - \left(\frac{1}{2} + 0\right) = \frac{\pi}{2} - \frac{1}{2}$$

۲۳۶۳۹ □

۲۳۶۴۰ مثال ۱۵.۸: میدان $\boldsymbol{F} = (x-y)\boldsymbol{i} + x\boldsymbol{j}$ کا دائرہ $\boldsymbol{r}(t) = (\cos t)\boldsymbol{i} + (\sin t)\boldsymbol{j},\ 0 \le t \le 2\pi$ کے ہمراہ
۲۳۶۴۱ دائرہ کے گرد دائری بہاؤ تلاش کریں۔

۲۳۶۴۲ حل:

۲۳۶۴۳ ۱. دائرہ پر $\boldsymbol{F} = (x-y)\boldsymbol{i} + x\boldsymbol{j} = (\cos t - \sin t)\boldsymbol{i} + (\cos t)\boldsymbol{j}$ ہو گا۔

۲۳۶۴۴ ۲. $\frac{\mathrm{d}\boldsymbol{r}}{\mathrm{d}t} = (-\sin t)\boldsymbol{i} + (\cos t)\boldsymbol{j}$

۲۳۶۴۵ ۳. $\boldsymbol{F} \cdot \frac{\mathrm{d}\boldsymbol{r}}{\mathrm{d}t} = -\sin t \cos t + \underbrace{\sin^2 t + \cos^2 t}_{1}$

۲۳۶۴۶ ۴. دائری بہاؤ درج ذیل ہو گا۔

$$\text{دائری بہاؤ} = \int_0^{2\pi} \boldsymbol{F} \cdot \frac{\mathrm{d}\boldsymbol{r}}{\mathrm{d}t}\,\mathrm{d}t = \int_0^{2\pi} (1 - \sin t \cos t)\,\mathrm{d}t$$
$$= \left[t - \frac{\sin^2 t}{2}\right]_0^{2\pi} = 2\pi$$

۲۳۶۴۷ □

۲۳۶۴۸ **مستوی منحنی کو عبور کرتا ہوا بہاؤ**

۲۳۶۴۹ مستوی xy میں ہموار بند منحنی C میں محیط خطہ سے سیال کے اخراج و دخول کی شرح C پر $\boldsymbol{F} \cdot \boldsymbol{n}$ (منحنی کے بیرونی عمودی اکائی سمتیہ کے رخ رفتاری
۲۳۶۵۰ میدان کے غیر سمتی جزو) کے لکیری تکمل سے حاصل ہو گی۔ اس تکمل کی قیمت کو C عبور کرتا ہوا $\boldsymbol{F}$ کا بہاؤ (**یا نفاذ**) کہتے ہیں۔ برقی یا مقناطیسی میدان $\boldsymbol{F}$
۲۳۶۵۱ کی صورت میں بھی اس تکمل کی قیمت کو C عبور کرتا ہوا بہاؤ یا نفاذ کہیں گے اگرچہ ان میں کوئی بہتا ہوا سیال نہیں پایا جاتا ہے۔

۲۳۶۵۲ تعریف: استمراری سمتی میدان $\boldsymbol{F} = M(x,y)\boldsymbol{i} + N(x,y)\boldsymbol{j}$ کے دائرہ کار میں ہموار مسطح بند منحنی C جس کا بیرونی رخ عمودی اکائی
۲۳۶۵۳ سمتیہ $\boldsymbol{n}$ ہو کی صورت میں C کو عبور کرتا ہوا $\boldsymbol{F}$ کا **بہاؤ**[۶] درج ذیل تکمل دے گا۔

$$\text{عبور کرتا ہوا } C \text{ کا بہاؤ } \boldsymbol{F} = \int_C \boldsymbol{F} \cdot \boldsymbol{n}\,\mathrm{d}s \qquad (۳)$$

[۶] flux

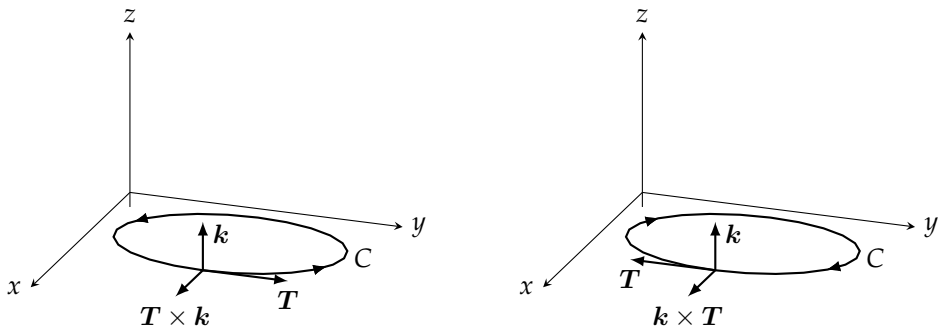

(ا)گھڑی وار حرکت کے لئے $\boldsymbol{k} \times \boldsymbol{T}$ باہر رخ ہوگا۔ (ب)خلاف گھڑی حرکت کے لئے $\boldsymbol{T} \times \boldsymbol{k}$ باہر رخ ہوگا۔

شکل ۱۵.۲۵: ہموار منحنی C ، جو بڑھتے t کی صورت میں مستوی xy میں خلاف گھڑی حرکت کرتی ہو، کا باہر رخ اکائی سمتیہ $\boldsymbol{n} = \boldsymbol{T} \times \boldsymbol{k}$ ہوگا۔

۲۳۶۵۴ □

۲۳۶۵۵ منحنی کو عبور کرتے ہوئے بہاؤ (نفاذ) اور دائری بہاؤ میں فرق سے واقف ہونا ضروری ہے۔ منحنی C کو عبور کرتا ہوا $\boldsymbol{F}$ کے بہاؤ سے مراد منحنی پر $\boldsymbol{F} \cdot \boldsymbol{n}$
۲۳۶۵۶ (منحنی کے بیرونی عمود کے رخ $\boldsymbol{F}$ کے غیر سمتی جزو) کا تکمل ہے۔ بند منحنی C کے گرد $\boldsymbol{F}$ کے دائری بہاؤ سے مراد منحنی پر $\boldsymbol{F} \cdot \boldsymbol{T}$ (منحنی کے اکائی
۲۳۶۵۷ مماس کے رخ $\boldsymbol{F}$ کے غیر سمتی جزو) کا تکمل ہے۔ منحنی عبور کرتا ہوا بہاؤ سے مراد $\boldsymbol{F}$ کے عمودی جزو کا تکمل جبکہ دائری بہاؤ سے مراد $\boldsymbol{F}$ کے مماسی جزو کا
۲۳۶۵۸ تکمل ہے۔ روزمرہ زندگی میں منحنی کو عبور کرتے ہوئے بہاؤ یعنی نفاذ کو مختصراً **بہاؤ** کہا جاتا ہے۔

۲۳۶۵۹ مساوات ۳ کے تکمل کی قیمت معلوم کرنے کی خاطر ہم مقدار معلوم روپ

$$x = g(t), \quad y = h(t), \quad a \leq t \leq b$$

۲۳۶۶۰ سے ابتدا کرتے ہیں۔ یوں t کی قیمت a سے b تک بڑھانے سے منحنی پر ایک سرے سے دوسرے سر تک ٹھیک ایک بار چلا جائے گا۔ منحنی کے اکائی مماسی سمتیہ
۲۳۶۶۱ $\boldsymbol{T}$ اور کارتیسی محددی نظام کے اکائی سمتیہ $\boldsymbol{k}$ کا سمتی ضرب منحنی کا بیرونی اکائی عمودی سمتیہ $\boldsymbol{n}$ دے گا۔ سوال پیدا ہوتا ہے کہ ایسے دو سمتی ضرب $\boldsymbol{T} \times \boldsymbol{k}$
۲۳۶۶۲ اور $\boldsymbol{k} \times \boldsymbol{T}$ پائے جاتے ہیں۔ ان میں کونسا بیرونی اکائی سمتیہ دے گا؟ مقدار معلوم t بڑھانے سے C پر چلنے کے رخ پر اس کا جواب منحصر ہوگا۔ اگر
۲۳۶۶۳ منحنی پر حرکت گھڑی وار ہو تب $\boldsymbol{k} \times \boldsymbol{T}$ بیرونی اکائی سمتیہ دے گا جبکہ خلاف گھڑی حرکت کی صورت میں $\boldsymbol{T} \times \boldsymbol{k}$ بیرونی اکائی سمتیہ دے گا (شکل
۲۳۶۶۴ ۱۵.۲۵)۔ عموماً خلاف گھڑی حرکت کے لئے کلیات اخذ کیے جاتے ہیں۔ یوں $\boldsymbol{n} = \boldsymbol{T} \times \boldsymbol{k}$ ہوگا۔ اگرچہ مساوات ۳ میں دیے گئے تکمل کی قیمت منحنی
۲۳۶۶۵ پر چلنے کے رخ پر منحصر نہیں ہے، ہم خلاف گھڑی حرکت تصور کرتے ہوئے مساوات ۳ کو حل کرنے کے کلیات اخذ کرتے ہیں۔

۲۳۶۶۶ ارکان کی صورت میں درج ذیل ہوگا۔

$$\boldsymbol{n} = \boldsymbol{T} \times \boldsymbol{k} = \left(\frac{\mathrm{d}x}{\mathrm{d}s}\boldsymbol{i} + \frac{\mathrm{d}y}{\mathrm{d}s}\boldsymbol{j}\right) \times \boldsymbol{k} = \frac{\mathrm{d}y}{\mathrm{d}s}\boldsymbol{i} - \frac{\mathrm{d}x}{\mathrm{d}s}\boldsymbol{j}$$

۳۳۶۷ اگر $\boldsymbol{F} = M(x,y)\boldsymbol{i} + N(x,y)\boldsymbol{j}$ ہو تب

$$\boldsymbol{F}\cdot\boldsymbol{n} = M(x,y)\frac{\mathrm{d}y}{\mathrm{d}s} - N(x,y)\frac{\mathrm{d}x}{\mathrm{d}s}$$

۳۳۶۸ لہٰذا

$$\int_C \boldsymbol{F}\cdot\boldsymbol{n}\,\mathrm{d}s = \int_C \left(M\frac{\mathrm{d}y}{\mathrm{d}s} - N\frac{\mathrm{d}x}{\mathrm{d}s}\right)\mathrm{d}s$$

۳۳۶۹ ہو گا جس سے درج ذیل حاصل ہوتا ہے۔

$$\int_C \boldsymbol{F}\cdot\boldsymbol{n}\,\mathrm{d}s = \oint_C M\,\mathrm{d}y - N\,\mathrm{d}x \tag{۴}$$

۳۳۶۷۰ یاد رہے کہ C پر خلاف گھڑی چلتے ہوئے بند تکمل $\oint$ کی قیمت حاصل کی جائے گی۔ اس تکمل کے حصول کی خاطر ہم M ، $\mathrm{d}y$ ، N اور $\mathrm{d}x$ کو مقدار
۳۳۶۷۱ معلوم t کے روپ میں لکھ کر $t = a$ تا $t = b$ تکمل لیتے ہیں۔ ہمیں بہاؤ (نفاذ) تلاش کرنے کے لئے $\boldsymbol{n}$ یا $\mathrm{d}s$ جاننے کی ضرورت پیش نہیں آتی
۳۳۶۷۲ ہے۔ منحنی C پر خلاف گھڑی ٹھیک ایک بار چلتے ہوئے کوئی بھی ہموار مقدار معلوم روپ $x = g(t)$ ، $y = h(t)$ ، جہاں $a \le t \le b$
۳۳۶۷۳ ہو، استعمال کیا جا سکتا ہے۔

۳۳۶۷۴ مثال ۱۵.۹: مستوی xy میں دائرہ $x^2 + y^2 = 1$ کو پار کرتا ہوا $\boldsymbol{F} = (x-y)\boldsymbol{i} + x\boldsymbol{j}$ کا بہاؤ (نفاذ) تلاش کریں۔

۳۳۶۷۵ حل: مقدار معلوم روپ $\boldsymbol{r}(t) = (\cos t)\boldsymbol{i} + (\sin t)\boldsymbol{j},\ 0 \le t \le 2\pi$ دائرے پر ٹھیک ایک بار چلتا ہے لہٰذا مساوات ۴ حل
۳۳۶۷۶ کرنے کی خاطر درج ذیل لیے جا سکتے ہیں۔

$$\begin{aligned} M &= x - y = \cos t - \sin t, & \mathrm{d}y &= \mathrm{d}(\sin t) = \cos t\,\mathrm{d}t \\ N &= x = \cos t, & \mathrm{d}x &= \mathrm{d}(\cos t) = -\sin t\,\mathrm{d}t \end{aligned}$$

۳۳۶۷۷ یوں درج ذیل ہو گا۔

$$\begin{aligned} &= \int_C M\,\mathrm{d}y - N\,\mathrm{d}x = \int_0^{2\pi} (\cos^2 t - \sin t\cos t + \cos t\sin t)\,\mathrm{d}t \qquad \text{مساوات ۴} \\ &= \int_0^{2\pi} \cos^2 t\,\mathrm{d}t = \int_0^{2\pi} \frac{1+\cos 2t}{2}\,\mathrm{d}t = \left[\frac{t}{2} + \frac{\sin 2t}{4}\right]_0^{2\pi} = \pi \end{aligned}$$

۳۳۶۷۸ دائرہ کو عبور کرتا ہوا $\boldsymbol{F}$ کا بہاؤ π ہے۔ چونکہ نتیجہ مثبت ہے لہٰذا دائرے سے کل بہاؤ کا رخ باہر کو ہو گا۔ دائرے میں دخول کی صورت میں نتیجہ منفی ہوتا۔
۳۳۶۷۹ □

۳۳۶۸۰ **سوالات**

۳۳۶۸۱ **سمتی میدان اور میدان ڈھلوان**

۳۳۶۸۲ سوال ۱۵.۳۷ تا سوال ۱۵.۴۰ میں تفاعل کے میدان ڈھلوان تلاش کریں۔

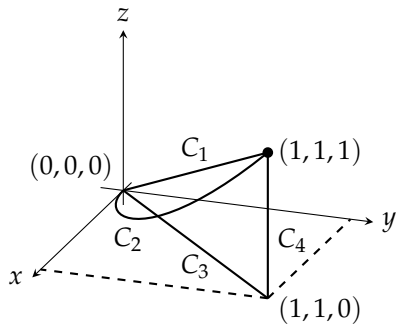

شکل ۱۵.۲۶

سوال ۱۵.۳۷: $f(x,y,z) = (x^2+y^2+z^2)^{-1/2}$

سوال ۱۵.۳۸: $f(x,y,z) = \ln\sqrt{x^2+y^2+z^2}$

سوال ۱۵.۳۹: $g(x,y,z) = e^z - \ln\sqrt{x^2+y^2}$

سوال ۱۵.۴۰: $g(x,y,z) = xy + yz + xz$

سوال ۱۵.۴۱: مستوی میں سمتی میدان کا ایسا کلیہ $\boldsymbol{F} = M(x,y)\boldsymbol{i} + N(x,y)\boldsymbol{j}$ پیش کریں کہ $\boldsymbol{F}$ کی مقدار مبدا سے (x,y) تک فاصلہ کے مربع کا بالعکس متناسب ہو اور $\boldsymbol{F}$ کا رخ مبدا کے رخ ہو۔ (یہ میدان مبدا پر غیر معین ہے۔)

سوال ۱۵.۴۲: مستوی میں میدان کا ایسا کلیہ $\boldsymbol{F} = M(x,y)\boldsymbol{i} + N(x,y)\boldsymbol{j}$ پیش کریں کہ $(0,0)$ پر $\boldsymbol{F} = \boldsymbol{0}$ ہو جبکہ کسی دوسرے نقطہ (a,b) پر $|\boldsymbol{F}| = \sqrt{a^2+b^2}$ اور دائرہ $x^2+y^2=a^2+b^2$ کو میدان گھڑی وار مماسی ہو۔

کام

سوال ۱۵.۴۳ تا سوال ۱۵.۴۸ میں $(0,0,0)$ تا $(1,1,1)$ قوت $\boldsymbol{F}$ کا کام درج ذیل راہوں پر تلاش کریں (شکل ۱۵.۲۶)۔

ا. سیدھی لکیر $C_1:\ \boldsymbol{r}(t) = t\boldsymbol{i} + t\boldsymbol{j} + t\boldsymbol{k},\ 0 \le t \le 1$

ب. قوسی راہ $C_2:\ \boldsymbol{r}(t) = t\boldsymbol{i} + t^2\boldsymbol{j} + t^4\boldsymbol{k},\ 0 \le t \le 1$

ج. راہ $C_3 \cup C_4$ جو $(0,0,0)$ تا $(1,1,0)$ اور $(1,1,0)$ تا $(1,1,1)$ خطی قطعات پر مشتمل ہے۔

۲۳۷۰۱ سوال ۱۵.۴۳: $\boldsymbol{F} = 3y\boldsymbol{i} + 2x\boldsymbol{j} + 4z\boldsymbol{k}$

۲۳۷۰۲ سوال ۱۵.۴۴: $\boldsymbol{F} = \frac{1}{1+x^2}\boldsymbol{j}$

۲۳۷۰۳ سوال ۱۵.۴۵: $\boldsymbol{F} = \sqrt{z}\boldsymbol{i} - 2x\boldsymbol{j} + \sqrt{y}\boldsymbol{k}$

۲۳۷۰۴ سوال ۱۵.۴۶: $\boldsymbol{F} = xy\boldsymbol{i} + yz\boldsymbol{j} + xz\boldsymbol{k}$

۲۳۷۰۵ سوال ۱۵.۴۷: $\boldsymbol{F} = (3x^2 - 3x)\boldsymbol{i} + 3z\boldsymbol{j} + \boldsymbol{k}$

۲۳۷۰۶ سوال ۱۵.۴۸: $\boldsymbol{F} = (y+z)\boldsymbol{i} + (z+x)\boldsymbol{j} + (x+y)\boldsymbol{k}$

۲۳۷۰۷ سوال ۱۵.۴۹ تا سوال ۱۵.۵۲ میں بڑھتے t رخ $\boldsymbol{F}$ کا کام تلاش کریں۔

۲۳۷۰۸ سوال ۱۵.۴۹: $\boldsymbol{F} = xy\boldsymbol{i} + y\boldsymbol{j} - yz\boldsymbol{k},\ \boldsymbol{r}(t) = t\boldsymbol{i} + t^2\boldsymbol{j} + t\boldsymbol{k},\ 0 \le t \le 1$

۲۳۷۰۹ سوال ۱۵.۵۰: $\boldsymbol{F} = 2y\boldsymbol{i} + 3x\boldsymbol{j} + (x+y)\boldsymbol{k},$

۲۳۷۱۰ $\boldsymbol{r}(t) = (\cos t)\boldsymbol{i} + (\sin t)\boldsymbol{j} + \frac{t}{6}\boldsymbol{k},\ 0 \le t \le 2\pi$

۲۳۷۱۱ سوال ۱۵.۵۱: $\boldsymbol{F} = z\boldsymbol{i} + x\boldsymbol{j} + y\boldsymbol{k},\ \boldsymbol{r}(t) = (\sin t)\boldsymbol{i} + (\cos t)\boldsymbol{j} + t\boldsymbol{k},\ 0 \le t \le 2\pi$

۲۳۷۱۲ سوال ۱۵.۵۲: $\boldsymbol{F} = 6z\boldsymbol{i} + y^2\boldsymbol{j} + 12x\boldsymbol{k},\ \boldsymbol{r}(t) = (\sin t)\boldsymbol{i} + (\cos t)\boldsymbol{j} + \frac{t}{6}\boldsymbol{k},\ 0 \le t \le 2\pi$

۲۳۷۱۳ **لکیری تکمل اور مستوی میں سمتی میدان**

۲۳۷۱۴ سوال ۱۵.۵۳: نقطہ $(-1,1)$ سے $(2,4)$ تک منحنی $y = x^2$ پر $\int_C xy\,\mathrm{d}x + (x+y)\,\mathrm{d}y$ کی قیمت تلاش کریں۔

۲۳۷۱۵ سوال ۱۵.۵۴: ایک مثلث جس کے راس $(0,0)$ ، $(1,0)$ اور $(0,1)$ ہیں پر $\int_C (x-y)\,\mathrm{d}x + (x+y)\,\mathrm{d}y$ کی قیمت

۲۳۷۱۶ خلاف گھڑی چلتے ہوئے تلاش کریں۔

۲۳۷۱۷ سوال ۱۵.۵۵: نقطہ $(4,2)$ سے $(1,-1)$ تک منحنی $x = y^2$ پر چلتے ہوئے سمتی میدان $\boldsymbol{F} = x^2\boldsymbol{i} - y\boldsymbol{j}$ کے لئے $\int_C \boldsymbol{F}\cdot$

۲۳۷۱۸ $\boldsymbol{T}\,\mathrm{d}s$ کی قیمت تلاش کریں۔

۲۳۷۱۹ سوال ۱۵.۵۶: نقطہ $(1,0)$ سے $(0,1)$ تک اکائی دائرہ $x^2 + y^2 = 1$ پر خلاف گھڑی چلتے ہوئے سمتی میدان $\boldsymbol{F} = y\boldsymbol{i} - x\boldsymbol{j}$

۲۳۷۲۰ کے لئے $\int_C \boldsymbol{F}\cdot\mathrm{d}\boldsymbol{r}$ کی قیمت تلاش کریں۔

۲۳۷۲۱ سوال ۱۵.۵۷: نقطہ $(1,1)$ سے $(2,3)$ تک سیدھی لکیر پر قوت $\boldsymbol{F} = xy\boldsymbol{i} + (y-x)\boldsymbol{j}$ کا کام دریافت کریں۔

۲۳۷۲۲ سوال ۱۵.۵۸: تفاعل $f(x,y) = (x+y)^2$ کی ڈھلوان کا کام دائرہ $x^2 + y^2 = 4$ پر خلاف گھڑی نقطہ $(2,0)$ سے چلتے ہوئے

۲۳۷۲۳ ایک چکر کے لئے تلاش کریں۔

۲۳۷۲۴ سوال ۱۵.۵۹: میدان $\boldsymbol{F}_1 = x\boldsymbol{i} + y\boldsymbol{i}$ اور $\boldsymbol{F}_2 = -y\boldsymbol{i} + x\boldsymbol{j}$ کی دائری بہاؤ درج ذیل منحنیات کے ہمراہ تلاش کریں اور ان

۲۳۷۲۵ منحنیات کو عبور کرتا ہوا بہاؤ تلاش کریں۔

۲۳۷۲۶ ا. دائرہ $\boldsymbol{r}(t) = (\cos t)\boldsymbol{i} + (\sin t)\boldsymbol{j},\ 0 \le t \le 2\pi$

۲۳۷۲۷ ب. ترخیم $\boldsymbol{r}(t) = (\cos t)\boldsymbol{i} + (4\sin t)\boldsymbol{j},\ 0 \le t \le 2\pi$

سوال ۱۵.۶۰: دائرہ $\boldsymbol{r}(t) = (a\cos t)\boldsymbol{i} + (a\sin t)\boldsymbol{j},\ 0 \le t \le 2\pi$ کو عبور کرتا ہوا بہاؤ درج ذیل میدان کے لئے حاصل کریں۔

$$\boldsymbol{F}_1 = 2x\boldsymbol{i} - 3y\boldsymbol{j}, \quad \boldsymbol{F}_2 = 2x\boldsymbol{i} + (x-y)\boldsymbol{j}$$

سوال ۱۵.۶۱ تا سوال ۱۵.۶۴ میں نصف دائری قوس $\boldsymbol{r}_1(t) = (a\cos t)\boldsymbol{i} + (a\sin t)\boldsymbol{j},\ 0 \le t \le \pi$ اور قطع $\boldsymbol{r}_2(t) = t\boldsymbol{i},\ -a \le t \le a$ پر مشتمل نصف دائری راہ کے ہمراہ بہاؤ اور اس کو عبور کرتا ہوا بہاؤ، میدان $\boldsymbol{F}$ کے لئے تلاش کریں۔

سوال ۱۵.۶۱: $\boldsymbol{F} = x\boldsymbol{i} + y\boldsymbol{j}$

سوال ۱۵.۶۲: $\boldsymbol{F} = x^2\boldsymbol{i} + y^2\boldsymbol{j}$

سوال ۱۵.۶۳: $\boldsymbol{F} = -y\boldsymbol{i} + x\boldsymbol{j}$

سوال ۱۵.۶۴: $\boldsymbol{F} = -y^2\boldsymbol{i} + x^2\boldsymbol{j}$

سوال ۱۵.۶۵: سمتی رفتاری میدان $\boldsymbol{F} = (x+y)\boldsymbol{i} - (x^2+y^2)\boldsymbol{j}$ کے بہاؤ کے تکمل کی قیمت درج ذیل راہ کے ہمراہ مستوی xy میں نقطہ $(1,0)$ سے $(-1,0)$ تک تلاش کریں۔

ا. دائرہ $x^2 + y^2 = 1$ کا بالائی نصف حصہ۔

ب. نقطہ $(1,0)$ تا $(-1,0)$ لکیری قطع۔

ج. نقطہ $(1,0)$ تا $(0,-1)$ اور اس کے بعد $(0,-1)$ سے $(-1,0)$ تک لکیری قطع۔

سوال ۱۵.۶۶: ایک مثلث، جس کے راس $(1,0)$ ، $(0,1)$ اور $(-1,0)$ ہیں، سے خارجی بہاؤ سوال ۱۵.۶۵ کے میدان کے لئے تلاش کریں۔

مستوی میں میدان کی تلاش اور خاکہ

سوال ۱۵.۶۷: چکری میدان $\boldsymbol{F} = \frac{-y}{\sqrt{x^2+y^2}}\boldsymbol{i} + \frac{x}{\sqrt{x^2+y^2}}\boldsymbol{j}$ بمع افقی اور انتصابی اجزاء کا خاکہ دائرہ $x^2 + y^2 = 4$ کے مختلف نقطوں پر بنائیں۔

سوال ۱۵.۶۸: رداسی میدان $\boldsymbol{F} = x\boldsymbol{i} + y\boldsymbol{j}$ بمع افقی اور انتصابی اجزاء کا خاکہ دائرہ $x^2 + y^2 = 1$ کے مختلف نقطوں پر بنائیں۔

سوال ۱۵.۶۹: (ا) مستوی xy میں میدان $\boldsymbol{G} = P(x,y)\boldsymbol{i} + Q(x,y)\boldsymbol{j}$ تلاش کریں جس کی قیمت نقطہ $(a,b) \neq (0,0)$ پر $\sqrt{a^2+b^2}$ ، رخ خلاف گھڑی اور دائرہ $x^2 + y^2 = a^2 + b^2$ کو مماسی ہو۔ نقطہ $(0,0)$ پر میدان غیر معین ہے۔ (ب) میدان $\boldsymbol{G}$ اور چکری میدان $\boldsymbol{F} = \frac{-y}{\sqrt{x^2+y^2}}\boldsymbol{i} + \frac{x}{\sqrt{x^2+y^2}}\boldsymbol{j}$ کے بیچ کیا تعلق پایا جاتا ہے؟

سوال ۱۵.۷۰: (ا) مستوی xy میں ایسا میدان $\boldsymbol{G} = P(x,y)\boldsymbol{i} + Q(x,y)\boldsymbol{j}$ تلاش کریں جو $(a,b) \neq (0,0)$ پر دائرہ $x^2 + y^2 = a^2 + b^2$ کو مماسی ہو، اس کی مطلق قیمت اکائی ہو اور اس کا رخ گھڑی وار ہو۔ (ب) میدان $\boldsymbol{G}$ اور چکری میدان $\boldsymbol{F} = \frac{-y}{\sqrt{x^2+y^2}}\boldsymbol{i} + \frac{x}{\sqrt{x^2+y^2}}\boldsymbol{j}$ کے بیچ کیا تعلق پایا جاتا ہے؟

سوال ۱۵.۷۱: مستوی xy میں ایسا میدان $\boldsymbol{F} = M(x,y)\boldsymbol{i} + N(x,y)\boldsymbol{j}$ تلاش کریں جو $(x,y) \neq (0,0)$ پر مبدا کے رخ ہو اور اس کی مطلق قیمت اکائی ہو۔ نقطہ $(0,0)$ پر میدان غیر معین ہے۔

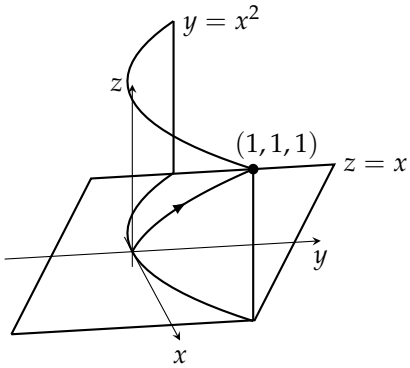

شکل ۱۵.۲۸

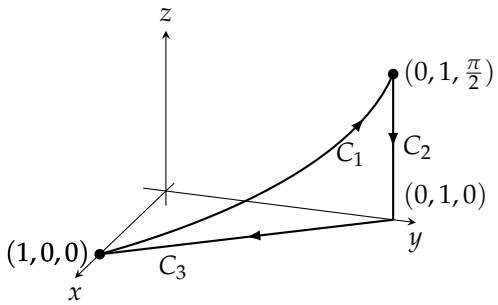

شکل ۱۵.۲۷

سوال ۱۵.۷۲: مستوی xy میں ایسا میدان $\boldsymbol{F} = M(x,y)\boldsymbol{i} + N(x,y)\boldsymbol{j}$ تلاش کریں جو $(x,y) \neq (0,0)$ پر مبدا کے رخ ہو اور $|\boldsymbol{F}|$ کی قیمت (ا) مبدا سے (x,y) تک فاصلہ کے برابر ہو، (ب) مبدا سے (x,y) تک فاصلہ کے بالعکس متناسب ہو۔ نقطہ $(0,0)$ پر میدان غیر معین ہے۔

فضا میں راہ کے ہمراہ تکمل بہاؤ

سوال ۱۵.۷۳ تا سوال ۱۵.۷۶ میں فضا کے کسی خطہ میں سمتی رفتاری میدان $\boldsymbol{F}$ سیال کے بہاؤ کو ظاہر کرتا ہے۔ دی گئی منحنی کے ہمراہ بہاؤ، بڑھتے t کے رخ تلاش کریں۔

سوال ۱۵.۷۳: $\boldsymbol{F} = -4xy\boldsymbol{i} + 8y\boldsymbol{j} + 2\boldsymbol{k},\ \boldsymbol{r}(t) = t\boldsymbol{i} + t^2\boldsymbol{j} + \boldsymbol{k},\ 0 \leq t \leq 2$

سوال ۱۵.۷۴: $\boldsymbol{F} = x^2\boldsymbol{i} + yz\boldsymbol{j} + y^2\boldsymbol{k},\ \boldsymbol{r}(t) = 3t\boldsymbol{j} + 4t\boldsymbol{k},\ 0 \leq t \leq 1$

سوال ۱۵.۷۵: $\boldsymbol{F} = (x-z)\boldsymbol{i} + x\boldsymbol{k},\ \boldsymbol{r}(t) = (\cos t)\boldsymbol{i} + (\sin t)\boldsymbol{k},\ 0 \leq t \leq \pi$

سوال ۱۵.۷۶: $\boldsymbol{F} = -y\boldsymbol{i} + x\boldsymbol{j} + 2\boldsymbol{k},$
$\boldsymbol{r}(t) = (-2\cos t)\boldsymbol{i} + (2\sin t)\boldsymbol{j} + 2t\boldsymbol{k},\ 0 \leq t \leq 2\pi$

سوال ۱۵.۷۷: بڑھتے t رخ چلتے ہوئے درج ذیل تین عدد بند راہ پر $\boldsymbol{F} = 2x\boldsymbol{i} + 2z\boldsymbol{j} + 2y\boldsymbol{k}$ کا دائری بہاؤ تلاش کریں (شکل ۱۵.۲۷)۔

$$
\begin{aligned}
C_1: &\quad \boldsymbol{r}(t) = (\cos t)\boldsymbol{i} + (\sin t)\boldsymbol{j} + t\boldsymbol{k}, && 0 \leq t \leq \tfrac{\pi}{2}\\
C_2: &\quad \boldsymbol{r}(t) = \boldsymbol{j} + \tfrac{\pi}{2}(1-t)\boldsymbol{k}, && 0 \leq t \leq 1\\
C_3: &\quad \boldsymbol{r}(t) = t\boldsymbol{i} + (1-t)\boldsymbol{j}, && 0 \leq t \leq 1
\end{aligned}
$$

سوال ۱۵.۷۸: مستوی $2x + 3y - z = 0$ اور بیلن $x^2 + y^2 = 12$ ایک دوسرے کو ترخیم C پر قطع کرتے ہیں۔ بغیر کوئی تکمل حل کیے دکھائیں کہ میدان $\boldsymbol{F} = x\boldsymbol{i} + y\boldsymbol{j} + z\boldsymbol{k}$ کا C پر دونوں رخ چلتے ہوئے دائری بہاؤ صفر کے برابر ہے۔

سوال ۱۵.۷۹: فضا میں ایک سیال کے بہاؤ کا سمتی رفتار کا میدان $\boldsymbol{F} = xy\boldsymbol{i} + y\boldsymbol{j} - yz\boldsymbol{k}$ ہے۔ بیلن $y = x^2$ اور مستوی $z = x$ کی تقاطع لکیر کے ہمراہ نقطہ $(0,0,0)$ سے $(1,1,1)$ تک بہاؤ تلاش کریں (شکل ۱۵.۲۸)۔ (اشارہ: $t = x$ کو مقدار معلوم لیں۔)

سوال ۱۵.۸۰: میدان $\boldsymbol{F} = \nabla(xy^2z^3)$ کا بہاؤ درج ذیل کے ہمراہ تلاش کریں۔

ا. اوپر سے دیکھ کر گھڑی وار ایک بار چکر لگاتے ہوئے سوال ۱۵.۷۸ میں دی گئی C کے ہمراہ۔

ب. نقطہ $(1,1,1)$ تا $(2,1,-1)$ لکیری قطع کے ہمراہ۔

نظریہ اور مثالیں

سوال ۱۵.۸۱: فرض کریں $a \le t \le b$ کے لئے $f(t)$ قابل تفرق اور مثبت ہے۔ مزید $\boldsymbol{F} = y\boldsymbol{i}$ ہے جبکہ راہ $\boldsymbol{r}(t) = t\boldsymbol{i} + f(t)\boldsymbol{j},\ a \le t \le b$ کو C ظاہر کرتی ہے۔ کیا محور t، لکیر $t = a$، $t = b$ اور ترسیم f کے بیچ رقبہ اور تکمل کام $\int_C \boldsymbol{F}\cdot \mathrm{d}\boldsymbol{r}$ کا ایک دوسرے کے ساتھ کوئی تعلق پایا جاتا ہے؟ اپنے جواب کی وجہ پیش کریں۔

سوال ۱۵.۸۲: ایک ذرہ نقطہ $(a, f(a))$ سے $(b, f(b))$ تک ہموار منحنی $y = f(x)$ پر حرکت کرتا ہے۔ محرک قوت ہر نقطہ پر مبدا سے دوری کے رخ ہے جبکہ اس کی مطلق قیمت مستقل k ہے۔ دکھائیں کہ یہ قوت درج ذیل کام کرتی ہے۔

$$\int_C \boldsymbol{F}\cdot\boldsymbol{T}\,\mathrm{d}s = k\left[\sqrt{b^2 + (f(b))^2} - \sqrt{a^2 + (f(a))^2}\right]$$

کمپیوٹر کا استعمال سوال ۱۵.۸۳ تا سوال ۱۵.۸۸ میں کمپیوٹر کی مدد سے درج ذیل اقدام کرتے ہوئے دی گئی راہ پر قوت $\boldsymbol{F}$ کا کام تلاش کریں۔

ا. راہ $\boldsymbol{r}(t) = g(t)\boldsymbol{i} + h(t)\boldsymbol{j} + k(t)\boldsymbol{k}$ کے لئے $\mathrm{d}\boldsymbol{r}$ تلاش کریں۔

ب. راہ کے ہمراہ قوت $\boldsymbol{F}$ کی قیمت تلاش کریں۔

ج. تکمل $\int_C \boldsymbol{F}\cdot\mathrm{d}\boldsymbol{r}$ کی قیمت تلاش کریں۔

سوال ۱۵.۸۳: $\boldsymbol{F} = xy^6\boldsymbol{i} + 3x(xy^5+2)\boldsymbol{j};\ \boldsymbol{r}(t) = 2\cos t\boldsymbol{i} + \sin t\boldsymbol{j},\ 0 \le t \le 2\pi$

سوال ۱۵.۸۴: $\boldsymbol{F} = \frac{3}{1+x^2}\boldsymbol{i} + \frac{2}{1+y^2}aj;\ \boldsymbol{r}(t) = \cos t\boldsymbol{i} + \sin t\boldsymbol{j},\ 0 \le t \le \pi$

سوال ۱۵.۸۵: $\boldsymbol{F} = (y + yz\cos xyz)\boldsymbol{i} + (x^2 + xz\cos xyz)\boldsymbol{j} + (z + xy\cos xyz)\boldsymbol{k};$
$\boldsymbol{r}(t) = 2\cos t\boldsymbol{i} + 3\sin t\boldsymbol{j} + \boldsymbol{k},\ 0 \le t \le 2\pi$

سوال ۱۵.۸۶: $\boldsymbol{F} = 2xy\boldsymbol{i} - y^2\boldsymbol{j} + ze^x\boldsymbol{k};$
$\boldsymbol{r}(t) = -t\boldsymbol{i} + \sqrt{t}\boldsymbol{j} + 3t\boldsymbol{k},\ 0 \le t \le 4$

سوال ۱۵.۸۷: $\boldsymbol{F} = (2y + \sin x)\boldsymbol{i} + (z^2 + \frac{1}{3}\cos y)\boldsymbol{j} + x^4\boldsymbol{k};$
$\boldsymbol{r}(t) = \sin t\boldsymbol{i} + \cos t\boldsymbol{j} + \sin 2t\boldsymbol{k},\ -\frac{\pi}{2} \le t \le \frac{\pi}{2}$

سوال ۱۵.۸۸: $\boldsymbol{F} = x^2y\boldsymbol{i} + \frac{1}{3}x^3\boldsymbol{j} + xy\boldsymbol{k};$
$\boldsymbol{r}(t) = \cos t\boldsymbol{i} + \sin t\boldsymbol{j} + (2\sin^2 t - 1)\boldsymbol{k},\ 0 \le t \le 2\pi$

۱۵.۳ راہ سے آزادی، تفاعل خفی توانائی، اور بقائی میدان

ثقلی اور برقی میدان میں کمیت یا بار کو ایک نقطہ سے دوسرے نقطہ منتقل کرنے کے لئے درکار کام صرف ابتدائی اور اختتامی نقطوں پر منحصر ہوتا ہے نا کہ منتقلی کی راہ پر۔ اس حصہ میں تکمل کام کی راہ سے آزادی کے تصور پر غور کیا جائے گا اور ایسے میدانوں کی خواص پر غور کیا جائے گا جن میں تکمل کام کی قیمت راہ کے تابع نہیں ہوتا۔

راہ سے آزادی

فضا میں کھلا خطہ D پر معین میدان $\boldsymbol{F}$ ایک ذرہ کو D میں نقطہ A سے نقطہ B منتقل کرتا ہے۔ عموماً تکمل کام $\int \boldsymbol{F} \cdot \mathrm{d}\boldsymbol{r}$ کی قیمت منتقلی کی راہ پر منحصر ہو گی، البتہ ایسے میدان پائے جاتے ہیں جن میں تکمل کام کی قیمت صرف ابتدائی اور اختتامی نقطوں پر منحصر ہو گی نا کہ منتقلی کی راہ پر۔ اگر D میں تمام A اور B کے لئے ایسا ہو تب یہ میدان بقائی میدان کہلائے گا اور ہم کہیں گے کہ D میں $\int \boldsymbol{F} \cdot \mathrm{d}\boldsymbol{r}$ راہ سے آزاد ہے اور D پر $\boldsymbol{F}$ بقائی ہے۔

تعریف: فضا میں کھلا خطہ D پر $\boldsymbol{F}$ کو ایک معین میدان لیتے ہوئے تصور کریں کہ D میں ہر دو نقطوں A اور B کے بیچ ہر ممکنہ راہ پر تکمل کام $\int_A^B \boldsymbol{F} \cdot \mathrm{d}\boldsymbol{r}$ کی قیمت ایک سی ہے۔ تب تکمل $\int \boldsymbol{F} \cdot \mathrm{d}\boldsymbol{r}$ خطہ D میں **راہ سے آزاد**[۷] ہو گا اور میدان $\boldsymbol{F}$ خطہ D پر **بقائی**[۸] ہو گا۔

□

عملی زندگی میں عموماً میدان $\boldsymbol{F}$ صرف اور صرف اس صورت بقائی ہو گا جب D پر $\boldsymbol{F} = \nabla f$ ہو جہاں f ایک غیر سمتی تفاعل ہے۔ ایسی صورت میں تفاعل f کو $\boldsymbol{F}$ کا مخفی قوہ تفاعل کہتے ہیں۔

تعریف: اگر D پر میدان $\boldsymbol{F}$ معین ہو اور $\boldsymbol{F} = \nabla f$ ہو جہاں f خطہ D پر ایک غیر سمتی تفاعل ہو تب f کو $\boldsymbol{F}$ کا **مخفی قوہ تفاعل**[۹] کہتے ہیں۔

□

برقی مخفی قوہ ایک غیر سمتی تفاعل ہے جس کا میدان ڈھلوان ایک برقی میدان ہوتا ہے۔ ثقلی مخفی قوہ ایک غیر سمتی تفاعل ہے جس کا میدان ڈھلوان ایک ثقلی میدان ہوتا ہے، وغیرہ وغیرہ۔ جیسا ہم اب دیکھیں گے، میدان $\boldsymbol{F}$ کا مخفی قوہ تفاعل f جاننے کے بعد $\boldsymbol{F}$ کی دائرہ کار میں تمام تکملات کام کی قیمتیں درج ذیل سے حاصل کی جا سکتی ہیں۔

$$\int_A^B \boldsymbol{F} \cdot \mathrm{d}\boldsymbol{r} = \int_A^B \nabla f \cdot \mathrm{d}\boldsymbol{r} = f(B) - f(A) \tag{۱}$$

---

[۷] pathindependent
[۸] conservative
[۹] potentialfunction

اگر آپ واحد متغیر کے تفرق f' کی طرح ∇f کو متعدد متغیرات کے تفاعل کے لئے فرض کریں تب مساوات ا کو احصاء کے بنیادی کلیہ

$$\int_a^b f'(x)\,\mathrm{d}x = f(b) - f(a)$$

کا مطابقتی سمتی احصاء کا کلیہ تصور کیا جا سکتا ہے۔

بقائی میدان کی دیگر قابل ذکر خواص پر، آگے چلتے ہوئے ساتھ ساتھ، غور کیا جائے گا۔ مثلاً، D پر بقائی $\boldsymbol{F}$ کی صورت میں D میں ہر بند راہ پر تکمل کام صفر ہو گا۔ مساوات ااور اس کی مضمرات کی درستگی برقرار رکھنے کی خاطر ہمیں اس مساوات میں مستعمل منحنی، میدان، اور دائرہ کار پر شرائط مسلط کرنی ہوں گے۔

ہم فرض کرتے ہیں کہ تمام منحنیات **ٹکڑوں میں ہموار**[10] ہیں، یعنی، انہیں متناہی تعداد کی ہموار منحنیات کو ایک دوسرے کے ساتھ جوڑ کر، حصہ ۱.۱۲ کی طرح، حاصل کیا گیا ہے۔ مزید ہم فرض کرتے ہیں کہ $\boldsymbol{F}$ کے اجزاء کے یک رتبی استمراری تفرق پائے جاتے ہیں۔ استمرار کی اس شرح کے بعد $\boldsymbol{F} = \nabla f$ کی صورت میں مخفی قوہ تفاعل f کے مدغم تفرق ایک دوسرے کے برابر ہوں گے، جو بقائی میدان $\boldsymbol{F}$ کے خواص پر غور کے دوران افشاں انگیز ثابت ہو گا۔

ہم فضا میں D کو ایک کھلا خطہ فرض کرتے ہیں۔ یوں D میں ہر نقطہ ایک ایسے گیند کے مرکز پر پایا جائے گا جو مکمل طور پر D میں پایا جاتا ہو۔ مزید ہم فرض کرتے ہیں کہ D **تعلق (دار)**[11] خطہ ہے۔ کھلا خطہ میں تعلق دار سے مراد ایسا خطہ ہے، جس میں ہر دو نقطوں کو ایک ایسی مسلسل راہ سے جوڑا جا سکتا ہے جو مکمل طور پر اس خطہ میں پائی جاتی ہو۔

بقائی میدان میں لکیری تکملات

بقائی میدان میں لکیری تکملات کی قیمتیں درج ذیل نتیجہ کی مدد سے باآسانی حاصل کی جا سکتی ہیں۔ اس نتیجہ کے تحت تکمل کی قیمت صرف ابتدائی اور اختتام نقطوں پر منحصر ہو گی نا کہ منتقلی کی راہ پر۔

مسئلہ ۱۵.۱: **لکیری تکملات کا بنیادی مسئلہ**

۱. فرض کریں فضا میں کھلے تعلق دار خطہ D میں سمتی میدان $\boldsymbol{F} = M\boldsymbol{i} + N\boldsymbol{j} + P\boldsymbol{k}$ کے اجزاء استمراری ہیں۔ تب صرف اور صرف اس صورت جب D میں تمام نقاط A اور B کے لئے تکمل $\int_A^B \boldsymbol{F}\cdot\mathrm{d}\boldsymbol{r}$ کی قیمت، D کے اندر رہتے ہوئے A اور B کے بیچ تمام راہ سے آزاد ہو، ایسا قابل تفرق تفاعل f موجود ہو گا جو درج ذیل پر پورا اترتا ہو۔

$$\boldsymbol{F} = \nabla f = \frac{\partial f}{\partial x}\boldsymbol{i} + \frac{\partial f}{\partial y}\boldsymbol{j} + \frac{\partial f}{\partial z}\boldsymbol{k}$$

۲. اگر تکمل کی قیمت A اور B کے بیچ راہ سے آزاد ہو تب تکمل کی قیمت درج ذیل ہو گی۔

$$\int_A^B \boldsymbol{F}\cdot\mathrm{d}\boldsymbol{r} = f(B) - f(A)$$

---

[10] piecewisesmooth

[11] connected

۲۳۸۳۶ ثبوت: کہ $\boldsymbol{F} = \nabla f$ سے مراد تکمل کی قیمت کا راہ سے آزاد ہونا ہے

۲۳۸۳۷ فرض کریں D میں A اور B دو نقطے ہیں اور D میں A سے B تک ہموار راہ درج ذیل ہے۔

$$C: \quad \boldsymbol{r}(t) = g(t)\boldsymbol{i} + h(t)\boldsymbol{j} + k(t)\boldsymbol{k}, \quad a \le t \le b$$

۲۳۸۳۸ منحنی کے ہمراہ t کے لحاظ سے C قابل تفرق ہے اور درج ذیل ہو گا۔

$$\frac{\mathrm{d}f}{\mathrm{d}t} = \frac{\partial f}{\partial x}\frac{\mathrm{d}x}{\mathrm{d}t} + \frac{\partial f}{\partial y}\frac{\mathrm{d}y}{\mathrm{d}t} + \frac{\partial f}{\partial z}\frac{\mathrm{d}z}{\mathrm{d}t}$$ زنجیری قاعدہ

$$= \nabla f \cdot \left(\frac{\mathrm{d}x}{\mathrm{d}t}\boldsymbol{i} + \frac{\mathrm{d}y}{\mathrm{d}t}\boldsymbol{j} + \frac{\mathrm{d}z}{\mathrm{d}t}\boldsymbol{k}\right) = \nabla f \cdot \frac{\mathrm{d}\boldsymbol{r}}{\mathrm{d}t} = \boldsymbol{F} \cdot \frac{\mathrm{d}\boldsymbol{r}}{\mathrm{d}t} \tag{۲}$$

۲۳۸۳۹ یوں درج ذیل ہو گا۔

$$\int_C \boldsymbol{F} \cdot \mathrm{d}\boldsymbol{r} = \int_{t=a}^{t=b} \boldsymbol{F} \cdot \frac{\mathrm{d}\boldsymbol{r}}{\mathrm{d}t}\,\mathrm{d}t = \int_a^b \frac{\mathrm{d}f}{\mathrm{d}t}\,\mathrm{d}t$$ مساوات ۲

$$= f(g(t), h(t), k(t))\Big]_a^b = f(B) - f(A)$$

۲۳۸۴۰ اس طرح تکمل کام کی قیمت A اور B پر f کی قیمتوں پر منحصر ہو گی نا کہ ان کے بیچ راہ پر۔ یوں مسئلہ کے دوسرا جزو کے ساتھ ساتھ پہلا مضمر جزو بھی ثابت
۲۳۸۴۱ ہوتا ہے۔ ہم الٹ مضمر کا زیادہ پیچیدہ ثبوت پیش نہیں کرتے ہیں۔

۲۳۸۴۲ □

۲۳۸۴۳ مثال ۱۵.۱۰: نقاط $(-1,3,9)$ اور $(1,6,-4)$ کے بیچ ہموار منحنی C پر چلتے ہوئے درج ذیل بقائی میدان کا کم تلاش کریں۔

$$\boldsymbol{F} = yz\boldsymbol{i} + xz\boldsymbol{j} + xy\boldsymbol{k} = \nabla(xyz)$$

۲۳۸۴۴ حل: $f(x,y,z) = xyz$ لیتے ہوئے درج ذیل ہو گا۔

$$\int_A^B \boldsymbol{F} \cdot \mathrm{d}\boldsymbol{r} = \int_A^B \nabla f \cdot \mathrm{d}\boldsymbol{r} \qquad \boldsymbol{F} = \nabla f$$

$$= f(B) - f(A) \qquad \text{مسئلہ ۱۵.۱ کا جزو دوم}$$

$$= xyz\big|_{(1,6,-4)} - xyz\big|_{(-1,3,9)}$$

$$= (1)(6)(-4) - (-1)(3)(9)$$

$$= -24 + 27 = 3$$

۲۳۸۴۵ □

۲۳۸۴۶ مسئلہ ۱۵.۲: درج ذیل فقرے معادل ہیں۔



شکل ۱۵.۲۹: دو نقطوں کے بیچ دو راہ میں سے ایک راہ کا رخ تبدیل کرتے ہوئے بند راہ حاصل کی جا سکتی ہے۔

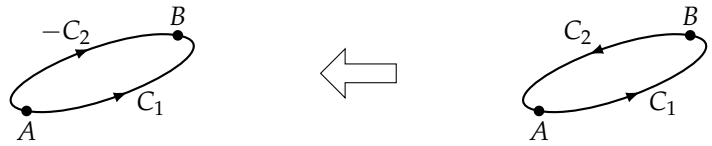

شکل ۱۵.۳۰: بند راہ پر نقاط A اور B کی صورت میں ایک طرف راہ کا رخ تبدیل کر کے نقاط کے بیچ دو راہ حاصل کیے جا سکتے ہیں۔

۲۳۸۴۷ ا. خطہ D میں ہر بند راہ پر $\int \boldsymbol{F}\cdot \mathrm{d}\boldsymbol{r} = 0$ ہے۔

۲۳۸۴۸ ب. خطہ D پر میدان $\boldsymbol{F}$ بقائی ہے۔

۲۳۸۴۹

۲۳۸۵۰ ثبوت: جزو-ا

۲۳۸۵۱ ہم دکھانا چاہتے ہیں کہ D میں کسی بھی دو نقاط A اور B کے بیچ کسی بھی دو راہوں C_1 اور C_2 پر $\boldsymbol{F}\cdot \mathrm{d}\boldsymbol{r}$ کے تکملات کی قیمتیں ایک دوسرے
۲۳۸۵۲ جیسی ہوں گی۔ ہم شکل ۱۵.۲۹ میں C_2 کا رخ الٹ کر کے B سے A تک راہ کو $-C_2$ لکھتے ہیں۔ راہ C_1 اور راہ $-C_2$ مل کر بند راہ C دیتے
۲۳۸۵۳ ہیں۔ اب درج ذیل ہو گا۔

$$\int_{C_1} \boldsymbol{F}\cdot \mathrm{d}\boldsymbol{r} - \int_{C_2} \boldsymbol{F}\cdot \mathrm{d}\boldsymbol{r} = \int_{C_1} \boldsymbol{F}\cdot \mathrm{d}\boldsymbol{r} + \int_{-C_2} \boldsymbol{F}\cdot \mathrm{d}\boldsymbol{r} = \int_{C} \boldsymbol{F}\cdot \mathrm{d}\boldsymbol{r} = 0$$

۲۳۸۵۴ یوں C_1 اور C_2 پر تکمل کی قیمتیں ایک دوسرے جیسی ہیں۔

۲۳۸۵۵ □

۲۳۸۵۶ ثبوت: جزو-ب

۲۳۸۵۷ ہم دکھانا چاہتے ہیں کہ ہر بند راہ C پر $\boldsymbol{F}\cdot \mathrm{d}\boldsymbol{r}$ کا تکمل صفر ہے۔ ہم C پر کسی دو نقطوں A اور B کا انتخاب کر کے C کو دو ٹکڑوں میں تقسیم کرتے
۲۳۸۵۸ ہیں: نقطہ A سے B تک ٹکڑے کو C_1 اور نقطہ B سے A تک ٹکڑے کو C_2 لیتے ہوئے خلاف گھڑی تکمل درج ذیل ہو گا (شکل ۱۵.۳۰)۔

$$\oint_{C} \boldsymbol{F}\cdot \mathrm{d}\boldsymbol{r} = \int_{C_1} \boldsymbol{F}\cdot \mathrm{d}\boldsymbol{r} + \int_{C_2} \boldsymbol{F}\cdot \mathrm{d}\boldsymbol{r} = \int_{A}^{B} \boldsymbol{F}\cdot \mathrm{d}\boldsymbol{r} - \int_{B}^{A} \boldsymbol{F}\cdot \mathrm{d}\boldsymbol{r} = 0$$

۲۳۸۵۹ □

۳۳۸۶۰ مسئلہ ۱۵.۱ اور مسئلہ ۱۵.۲ کے نتائج کو یکجا کرتے ہیں۔

$$\oint_C \boldsymbol{F}\cdot \mathrm{d}\boldsymbol{r} = 0 \text{ میں کسی بھی بند راہ پر } D \quad \Leftrightarrow \quad \boldsymbol{F} \text{ بقائی ہے پر } D \quad \Leftrightarrow \quad \boldsymbol{F} = \nabla f \text{ پر } D$$

۳۳۸۶۱ یہ جانتے ہوئے کہ بقائی میدان میں لکیری تکملات کا حل کتنا آسان ہے، دو سوالات پیدا ہوتے ہیں:

۳۳۸۶۲ ۱. ہمیں کیسے جان سکتے ہیں کہ میدان $\boldsymbol{F}$ بقائی ہے؟

۳۳۸۶۳ ۲. بقائی میدان $\boldsymbol{F}$ کا مطابقتی مخفی قوہ تفاعل f کیسے دریافت کیا جا سکتا ہے (جہاں $\boldsymbol{F} = \nabla f$ ہو گا)۔

۳۳۸۶۴ **بقائی میدان کا مخفی قوہ تفاعل کا حصول**

۳۳۸۶۵ بقائی میدان کا پرکھ درج ذیل ہے۔

۳۳۸۶۶ **بقائی میدان کا اجزائی پرکھ**

۳۳۸۶۷ میدان $\boldsymbol{F} = M(x,y,z)\boldsymbol{i} + N(x,y,z)\boldsymbol{j} + P(x,y,z)\boldsymbol{k}$ جس کے اجزائی تفاعل کے استمراری یک رتبی جزوی تفرق پائے
۳۳۸۶۸ جاتے ہوں صرف اور صرف اس صورت بقائی ہو گا جب درج ذیل مطمئن ہوں۔

$$\frac{\partial P}{\partial y} = \frac{\partial N}{\partial z}, \quad \frac{\partial M}{\partial z} = \frac{\partial P}{\partial x}, \quad \text{اور} \quad \frac{\partial N}{\partial x} = \frac{\partial M}{\partial y} \tag{۳}$$

۳۳۸۶۹ □

۳۳۸۷۰ ثبوت پرکھ: ہم دکھاتے ہیں کہ بقائی $\boldsymbol{F}$ کے لئے مساوات ۳ ہر صورت مطمئن ہو گا۔ ایسا مخفی قوہ تفاعل f پایا جائے گا جو درج ذیل کو مطمئن کرے گا۔

$$\boldsymbol{F} = M\boldsymbol{i} + N\boldsymbol{j} + P\boldsymbol{k} = \frac{\partial f}{\partial x}\boldsymbol{i} + \frac{\partial f}{\partial y}\boldsymbol{j} + \frac{\partial f}{\partial z}\boldsymbol{k}$$

۳۳۸۷۱ یوں درج ذیل ہو گا۔

$$\begin{aligned}
\frac{\partial P}{\partial y} &= \frac{\partial}{\partial y}\left(\frac{\partial f}{\partial z}\right) = \frac{\partial^2 f}{\partial y \partial z} \\
&= \frac{\partial^2 f}{\partial z \partial y} && \text{استمراری ہونے کی بدولت مدغم جزوی تفرق} \\
&= \frac{\partial}{\partial z}\left(\frac{\partial f}{\partial y}\right) = \frac{\partial N}{\partial z} && \text{ایک دوسرے کے برابر ہوں گے}
\end{aligned}$$

۳۳۸۷۲ مساوات ۳ کے باقی دو اجزاء بھی اسی طرح ثابت کیے جا سکتے ہیں۔

۲۳۸۷۳ ثبوت کا دوسرا حصہ، جس سے مراد لیا جا سکتا ہے کہ مساوات ۳ کہتی ہے کہ $\boldsymbol{F}$ بقائی ہو گا، مسئلہ سٹوکس کا نتیجہ ہے۔

۲۳۸۷۴ □

۲۳۸۷۵ یہ جانتے ہوئے کہ $\boldsymbol{F}$ بقائی ہے، ہم عموماً مخفی قوہ تفاعل f دریافت کرنا چاہیں گے جو مساوات $\nabla f = \boldsymbol{F}$ یعنی

$$\frac{\partial f}{\partial x}\boldsymbol{i} + \frac{\partial f}{\partial y}\boldsymbol{j} + \frac{\partial f}{\partial z}\boldsymbol{k} = M\boldsymbol{i} + N\boldsymbol{j} + P\boldsymbol{k}$$

۲۳۸۷۶ کو f کے لئے حل کرنے سے حاصل ہو گا۔ ہم درج ذیل تین مساوات کا تکمل لے کر ایسا کرتے ہیں۔

$$\frac{\partial f}{\partial x} = M, \quad \frac{\partial f}{\partial y} = N, \quad \frac{\partial f}{\partial z} = P$$

۲۳۸۷۷ مثال ۱۵.۱۱: دکھائیں کہ $\boldsymbol{F} = (e^x \cos y + yz)\boldsymbol{i} + (xz - e^x \sin y)\boldsymbol{j} + (xy + z)\boldsymbol{k}$ بقائی ہے اور اس کا مخفی قوہ
۲۳۸۷۸ تفاعل f تلاش کریں۔

۲۳۸۷۹ حل: ہم مساوات ۳ میں دی گئی پرکھ کا اطلاق

$$M = e^x \cos y + yz, \quad N = xz - e^x \sin y, \quad P = xy + z$$

۲۳۸۸۰ پر کر کے درج ذیل حاصل کرتے ہیں۔

$$\frac{\partial P}{\partial y} = x = \frac{\partial N}{\partial z}, \quad \frac{\partial M}{\partial z} = y = \frac{\partial P}{\partial x}, \quad \frac{\partial N}{\partial x} = z - e^x \sin y = \frac{\partial M}{\partial y}$$

۲۳۸۸۱ یہ مساوات مل کر ہمیں بتاتے ہیں کہ ایسا f پایا جاتا ہے جو $\nabla f = \boldsymbol{F}$ کو مطمئن کرتا ہے۔

۲۳۸۸۲ ہم درج ذیل مساواتوں کے تکملات سے f کو تلاش کرتے ہیں۔

$$\frac{\partial f}{\partial x} = e^x \cos y + yz, \quad \frac{\partial f}{\partial y} = xz - e^x \sin y, \quad \frac{\partial f}{\partial z} = xy + z \tag{۴}$$

۲۳۸۸۳ ہم بائیں سے شروع کرتے ہوئے y اور z کو مستقل تصور کر کے پہلی مساوات کا تکمل x کے لحاظ سے لیتے ہیں:

$$f(x, y, z) = e^x \cos y + xyz + g(y, z) \tag{۵}$$

۲۳۸۸۴ ہم نے تکمل کے مستقل کو $g(y, z)$ لکھا ہے چونکہ اس کی قیمت y اور z کے ساتھ تبدیل ہو سکتی ہے۔ اس مساوات سے ہم $\frac{\partial f}{\partial y}$ تلاش کر کے
۲۳۸۸۵ مساوات ۴ میں دی گئی $\frac{\partial f}{\partial y}$ کے برابر ٹھہراتے ہیں:

$$-e^x \sin y + xz + \frac{\partial g}{\partial y} = xz - e^x \sin y$$

۲۳۸۸۶ یوں $\frac{\partial g}{\partial y} = 0$ ہوگا لہٰذا g کی قیمت صرف z پر منحصر ہوگی۔ اس طرح مساوات ۵ درج ذیل روپ اختیار کرے گی۔

$$f(x, y, z) = e^x \cos y + xyz + h(z)$$

۲۳۸۸۷ اس مساوات سے ہم $\frac{\partial f}{\partial z}$ معلوم کرکے مساوات ۴ میں دی گئی $\frac{\partial f}{\partial z}$ کے برابر ٹھہراتے ہیں:

$$xy + \frac{\mathrm{d}h}{\mathrm{d}z} = xy + z$$

$$\frac{\mathrm{d}h}{\mathrm{d}z} = z \quad \text{یعنی}$$

۲۳۸۸۸ متغیر z کے ساتھ تکمل لیتے ہیں:

$$h(z) == \frac{z^2}{2} + C$$

۲۳۸۸۹ اس طرح درج ذیل ہوگا۔

$$f(x, y, z) = e^x \cos y + xyz + \frac{z^2}{2} + C$$

۲۳۸۹۰ یوں مستقل C کی لامتناہی ممکنہ منفرد قیمتیں منتخب کرکے $\boldsymbol{F}$ کے لامتناہی تعداد کے مخفی قوہ تفاعل حاصل ہوں گے۔ □

۲۳۸۹۱ مثال ۱۵.۱۲: دکھائیں کہ $\boldsymbol{F} = (2x - 3)\boldsymbol{i} - z\boldsymbol{j} + (\cos z)\boldsymbol{k}$ غیر بقائی ہے۔

۲۳۸۹۲ حل: ہم مساوات ۳ میں دی گئی پرکھ استعمال کرکے

$$\frac{\partial P}{\partial y} = \frac{\partial}{\partial y}(\cos z) = 0, \quad \frac{\partial N}{\partial z} = \frac{\partial}{\partial z}(-z) = -1$$

۲۳۸۹۳ حاصل کرتے ہیں۔ یہ قیمتیں ایک دوسرے سے مختلف ہیں لہٰذا $\boldsymbol{F}$ غیر بقائی ہوگا۔ پرکھ کے باقی اجزاء کو دیکھنے کی ضرورت نہیں ہے۔ □

۲۳۸۹۴ قطعی تفرقی روپ

۲۳۸۹۵ جیسا ہم اگلے حصہ میں دیکھیں گے، تکمل کام اور تکمل دائری بہاؤ کا اظہار ''تفرقی'' روپ

$$\int_A^B M\,\mathrm{d}x + N\,\mathrm{d}y + P\,\mathrm{d}z$$

۲۳۸۹۶ میں کرنا زیادہ مناسب ثابت ہوتا ہے (حصہ ۱۵.۲)۔ جہاں $M\,\mathrm{d}x + N\,\mathrm{d}y + P\,\mathrm{d}z$ تفاعل f کا تفریقی روپ ہو وہاں ان تکملات کا حل نسبتاً
۲۳۸۹۷ آسان ہوتا ہے۔ چونکہ تب درج ذیل ہو گا۔

$$\begin{aligned}\int_A^B M\,\mathrm{d}x + N\,\mathrm{d}y + P\,\mathrm{d}z &= \int_A^B \frac{\partial f}{\partial x}\,\mathrm{d}x + \frac{\partial f}{\partial y}\,\mathrm{d}y + \frac{\partial f}{\partial z}\,\mathrm{d}z \\ &= \int_A^B \nabla f \cdot \mathrm{d}\boldsymbol{r} \\ &= f(B) - f(A) \qquad \text{مسئلہ ۱۵.۱}\end{aligned}$$

۲۳۸۹۸ یوں واحد متغیر کے قابل تفرق تفاعل کی طرح درج ذیل ہو گا۔

$$\int_A^B \mathrm{d}f = f(B) - f(A)$$

۲۳۸۹۹ تعریف: روپ $M(x,y,z)\,\mathrm{d}x + N(x,y,z)\,\mathrm{d}y + P(x,y,z)\,\mathrm{d}z$ کو **تفرقی روپ**[۱۲] کہتے ہیں۔ فضا میں دائرہ کار D
۲۳۹۰۰ پر تفرقی روپ اس صورت قطعی تفرقی ہو گا جب پورے D میں کسی غیر سمتی تفاعل f درج ذیل کو مطمئن کرتا ہو۔

$$M\,\mathrm{d}x + N\,\mathrm{d}y + P\,\mathrm{d}z = \frac{\partial f}{\partial x}\,\mathrm{d}x + \frac{\partial f}{\partial y}\,\mathrm{d}y + \frac{\partial f}{\partial z}\,\mathrm{d}z = \mathrm{d}f$$

۲۳۹۰۱ □

۲۳۹۰۲ دھیان رہے کہ D میں $M\,\mathrm{d}x + N\,\mathrm{d}y + P\,\mathrm{d}z = \mathrm{d}f$ کی صورت میں D پر f کا میدان ڈھلوان $\boldsymbol{F} = M\boldsymbol{i} + N\boldsymbol{j} +$
۲۳۹۰۳ $P\boldsymbol{k}$ ہو گا۔ اسی طرح اگر $\boldsymbol{F} = \nabla f$ ہو تب روپ $M\,\mathrm{d}x + N\,\mathrm{d}y + P\,\mathrm{d}z = \mathrm{d}f$ قطعی تفرقی ہو گا۔ یوں $\boldsymbol{F}$ کے بقائی ہونا کا
۲۳۹۰۴ پرکھ ہی اس روپ کے قطعی تفرقی ہونے کا پرکھ ہو گا۔

۲۳۹۰۵ **قطعی تفرقی پرکھ برائے** $M\,\mathrm{d}x + N\,\mathrm{d}y + P\,\mathrm{d}z = \mathrm{d}f$

۲۳۹۰۶ تفرقی روپ $M\,\mathrm{d}x + N\,\mathrm{d}y + P\,\mathrm{d}z = \mathrm{d}f$ صرف اور صرف درج ذیل صورت قطعی تفرقی ہو گا۔

$$\frac{\partial P}{\partial y} = \frac{\partial N}{\partial z}, \quad \frac{\partial M}{\partial z} = \frac{\partial P}{\partial x}, \quad \text{اور} \quad \frac{\partial N}{\partial x} = \frac{\partial M}{\partial y} \tag{۶}$$

۲۳۹۰۷ یہ اس بات کا معادل ہے کہ میدان $\boldsymbol{F} = M\boldsymbol{i} + N\boldsymbol{j} + P\boldsymbol{k}$ بقائی ہے۔

۲۳۹۰۸ □

---

[۱۲] differentialform

۳۳۹۰۹ مثال ۱۵.۱۳: دکھائیں کہ $y\,\mathrm{d}x + x\,\mathrm{d}y + 4\,\mathrm{d}z$ قطعی تفرقی ہے اور درج ذیل تکمل کی قیمت قطع $(1,1,1)$ تا $(2,3,-1)$ پر
۳۳۹۱۰ حاصل کریں۔

$$\int_{(1,1,1)}^{(2,3,-1)} y\,\mathrm{d}x + x\,\mathrm{d}y + 4\,\mathrm{d}z$$

۳۳۹۱۱ حل: ہم $M = y$ ، $N = x$ اور $P = 4$ لے کر مساوات ۶ میں دیا گیا پرکھ بروئے کار لاتے ہیں۔

$$\frac{\partial P}{\partial y} = 0 = \frac{\partial N}{\partial z}, \quad \frac{\partial M}{\partial z} = 0 = \frac{\partial P}{\partial x}, \quad \frac{\partial N}{\partial x} = 1 = \frac{\partial M}{\partial y}$$

۳۳۹۱۲ ان مساوات کے تحت $y\,\mathrm{d}x + x\,\mathrm{d}y + 4\,\mathrm{d}z$ قطعی تفرقی ہے لہٰذا

$$y\,\mathrm{d}x + x\,\mathrm{d}y + 4\,\mathrm{d}z = \mathrm{d}f$$

۳۳۹۱۳ ہو گا جہاں f کوئی غیر سمتی تفاعل ہے اور تکمل کی قیمت $f(2,3,-1) - f(1,1,1)$ ہو گی۔

۳۳۹۱۴ ہم درج ذیل مساوات کے تکملات لیتے ہوئے تفاعل f تلاش کرتے ہیں۔

$$\frac{\partial f}{\partial x} = y, \quad \frac{\partial f}{\partial y} = x, \quad \frac{\partial f}{\partial z} = 4 \tag{۷}$$

۳۳۹۱۵ بائیں ہاتھ سے پہلی مساوات کا تکمل درج ذیل دے گا۔

$$f(x,y,z) = xy + g(y,z) \tag{۸}$$

۳۳۹۱۶ اس کا y تفرق لے کر دوسری مساوات کے برابر ٹھراتے ہیں۔

$$\frac{\partial f}{\partial y} = x + \frac{\partial g}{\partial y} = x$$

$$\frac{\partial g}{\partial y} = 0 \quad \text{یعنی}$$

۳۳۹۱۷ یہاں g صرف متغیر z پر منحصر ہے لہٰذا مساوات ۸ درج ذیل روپ اختیار کرتی ہے۔

$$f(x,y,z) = xy + h(z) \tag{۹}$$

۳۳۹۱۸ مساوات ۷ کی تیسرے جزو کے تحت درج ذیل ہو گا۔

$$\frac{\partial f}{\partial z} = 0 + \frac{\partial h}{\partial z} = 4$$

$$h(z) = 4z + C \quad \text{یعنی}$$

۲۳۹۱۹ یوں

$$f(x,y,z) = xy + 4z + C$$

۲۳۹۲۰ ہو گا اور تکمل کی قیمت درج ذیل ہو گی۔

$$f(2,3,-1) - f(1,1,1) = 2 + C - (5 + C) = -3$$

۲۳۹۲۱ □

۲۳۹۲۲ **سوالات**

۲۳۹۲۳ **بقائی میدان کی پرکھ**

۲۳۹۲۴ سوال ۱۵.۸۹ تا سوال ۱۵.۹۴ میں کون سے میدان بقائی اور کون سے غیر بقائی ہیں؟

۲۳۹۲۵ سوال ۱۵.۸۹: $\boldsymbol{F} = yz\boldsymbol{i} + xz\boldsymbol{j} + xy\boldsymbol{k}$

۲۳۹۲۶ سوال ۱۵.۹۰: $\boldsymbol{F} = (y\sin z)\boldsymbol{i} + (x\sin z)\boldsymbol{j} + (xy\cos z)\boldsymbol{k}$

۲۳۹۲۷ سوال ۱۵.۹۱: $\boldsymbol{F} = y\boldsymbol{i} + (x+z)\boldsymbol{j} - y\boldsymbol{k}$

۲۳۹۲۸ سوال ۱۵.۹۲: $\boldsymbol{F} = -y\boldsymbol{i} + x\boldsymbol{j}$

۲۳۹۲۹ سوال ۱۵.۹۳: $\boldsymbol{F} = (y + z + \boldsymbol{i} + z\boldsymbol{j} + (x+y)\boldsymbol{k}$

۲۳۹۳۰ سوال ۱۵.۹۴: $\boldsymbol{F} = (e^x\cos y)\boldsymbol{i} - (e^x\sin y)\boldsymbol{j} + z\boldsymbol{k}$

۲۳۹۳۱ **مخفی قوہ تفاعل کی تلاش**

۲۳۹۳۲ سوال ۱۵.۹۵ تا سوال ۱۵.۱۰۰ میں میدان $\boldsymbol{F}$ کا مخفی قوہ تفاعل f تلاش کریں۔

۲۳۹۳۳ سوال ۱۵.۹۵: $\boldsymbol{F} = 2x\boldsymbol{i} + 3y\boldsymbol{j} + 4z\boldsymbol{k}$

۲۳۹۳۴ سوال ۱۵.۹۶: $\boldsymbol{F} = (y+z)\boldsymbol{i} + (x+z)\boldsymbol{j} + (x+y)\boldsymbol{k}$

۲۳۹۳۵ سوال ۱۵.۹۷: $\boldsymbol{F} = e^{y+2z}(\boldsymbol{i} + x\boldsymbol{j} + 2x\boldsymbol{k})$

۲۳۹۳۶ سوال ۱۵.۹۸: $\boldsymbol{F} = (y\sin z)\boldsymbol{i} + (x\sin z)\boldsymbol{j} + (xy\cos z)\boldsymbol{k}$

۲۳۹۳۷ سوال ۱۵.۹۹: $\boldsymbol{F} = (\ln x + \sec^2(x+y))\boldsymbol{i} + \left(\sec^2(x+y) + \frac{y}{y^2+z^2}\right)\boldsymbol{j} + \frac{z}{y^2+z^2}\boldsymbol{k}$

۲۳۹۳۸ سوال ۱۵.۱۰۰: $\boldsymbol{F} = \frac{y}{1+x^2y^2}\boldsymbol{i} + \left(\frac{x}{1+x^2y^2} + \frac{z}{\sqrt{1-y^2z^2}}\right)\boldsymbol{j} + \left(\frac{y}{\sqrt{1-y^2z^2}} + \frac{1}{z}\right)\boldsymbol{k}$

۲۳۹۳۹ **لکیری تکملات کی قیمتوں کا حصول**

۲۳۹۴۰ سوال ۱۵.۱۰۱ تا سوال ۱۵.۱۱۰ میں دکھائیں کہ متکمل قطعی تفرقی ہے۔ اس کے بعد لکیری تکمل کی قیمت حاصل کریں۔

۳۳۹۴۱ سوال ۱۵.۱۰۱: $\int_{(0,0,0)}^{(2,3,-6)} 2x\,\mathrm{d}x + 2y\,\mathrm{d}y + 2z\,\mathrm{d}z$

۳۳۹۴۲ سوال ۱۵.۱۰۲: $\int_{(1,1,2)}^{(3,5,0)} yz\,\mathrm{d}x + xz\,\mathrm{d}y + xy\,\mathrm{d}z$

۳۳۹۴۳ سوال ۱۵.۱۰۳: $\int_{(0,0,0)}^{(1,2,3)} 2xy\,\mathrm{d}x + (x^2 - z^2)\,\mathrm{d}y - 2yz\,\mathrm{d}z$

۳۳۹۴۴ سوال ۱۵.۱۰۴: $\int_{(0,0,0)}^{(3,3,1)} 2x\,\mathrm{d}x - y^2\,\mathrm{d}y - \frac{4}{1+z^2}\,\mathrm{d}z$

۳۳۹۴۵ سوال ۱۵.۱۰۵: $\int_{(1,0,0)}^{(0,1,1)} \sin y \cos x\,\mathrm{d}x + \cos y \sin x\,\mathrm{d}y + \mathrm{d}z$

۳۳۹۴۶ سوال ۱۵.۱۰۶: $\int_{(0,2,1)}^{(1,\pi/2,2)} 2\cos y\,\mathrm{d}x + \left(\frac{1}{y} - 2x\sin y\right)\mathrm{d}y + \frac{1}{z}\,\mathrm{d}z$

۳۳۹۴۷ سوال ۱۵.۱۰۷: $\int_{(1,1,1)}^{(1,2,3)} 3x^2\,\mathrm{d}x + \frac{z^2}{y}\,\mathrm{d}y + 2z\ln y\,\mathrm{d}z$

۳۳۹۴۸ سوال ۱۵.۱۰۸: $\int_{(1,2,1)}^{(2,1,1)} (2x\ln y - yz)\,\mathrm{d}x + \left(\frac{x^2}{y} - xz\right)\mathrm{d}y - xy\,\mathrm{d}z$

۳۳۹۴۹ سوال ۱۵.۱۰۹: $\int_{(1,1,1)}^{(2,2,2)} \frac{\mathrm{d}x}{y} + \left(\frac{1}{z} - \frac{x}{y^2}\right)\mathrm{d}y - \frac{y}{z^2}\,\mathrm{d}z$

۳۳۹۵۰ سوال ۱۵.۱۱۰: $\int_{(-1,-1,-1)}^{(2,2,2)} \frac{2x\,\mathrm{d}x + 2y\,\mathrm{d}y + 2z\,\mathrm{d}z}{x^2+y^2+z^2}$

۳۳۹۵۱ سوال ۱۵.۱۱۱: نقطہ $(1,1,1)$ سے $(2,3,-1)$ تک قطع کی مقدار معلوم مساواتیں دریافت کر کے اس پر میدان $\boldsymbol{F} = y\boldsymbol{i} + x\boldsymbol{j} +$

۳۳۹۵۲ $4\boldsymbol{k}$ کی لکیری تکمل

$$\int_{(1,1,1)}^{(2,3,-1)} y\,\mathrm{d}x + x\,\mathrm{d}y + 4\,\mathrm{d}z$$

۳۳۹۵۳ کی قیمت تلاش کریں۔ چونکہ $\boldsymbol{F}$ بقائی میدان ہے لہٰذا تکمل کی قیمت راہ سے بے نیاز ہو گی۔ درج ذیل لکیری تکمل مثال ۱۵.۱۳

۳۳۹۵۴ سوال ۱۵.۱۱۲: نقطہ $(0,0,0)$ سے $(0,3,4)$ تک قطع C کے ہمراہ درج ذیل تکمل کی قیمت تلاش کریں۔

$$\int_C x^2\,\mathrm{d}x + yz\,\mathrm{d}y + \frac{y^2}{2}\,\mathrm{d}z$$

۳۳۹۵۵ **نظریہ، عملی استعمال اور مثالیں**

۳۳۹۵۶ دکھائیں کہ سوال ۱۵.۱۱۳ اور سوال ۱۵.۱۱۴ میں تکمل کی قیمت راہ A تا B پر منحصر نہیں ہے۔

۳۳۹۵۷ سوال ۱۵.۱۱۳: $\int_A^B z^2\,\mathrm{d}x + 2y\,\mathrm{d}y + 2xz\,\mathrm{d}z$

۳۳۹۵۸ سوال ۱۵.۱۱۴: $\int_A^B \frac{x\,\mathrm{d}x + y\,\mathrm{d}y + z\,\mathrm{d}z}{\sqrt{x^2+y^2+z^2}}$

۲۳۹۵۹ سوال ۱۵.۱۱۵ اور سوال ۱۵.۱۱۶ میں $\boldsymbol{F}$ کو ∇f روپ میں لکھیں۔

۲۳۹۶۰ سوال ۱۵.۱۱۵: $\boldsymbol{F} = \frac{2x}{y}\boldsymbol{i} + \left(\frac{1-x^2}{y^2}\right)\boldsymbol{j}$

۲۳۹۶۱ سوال ۱۵.۱۱۶: $\boldsymbol{F} = (e^x \ln y)\boldsymbol{i} + \left(\frac{e^x}{y} + \sin z\right)\boldsymbol{j} + (y\cos z)\boldsymbol{k}$

۲۳۹۶۲ سوال ۱۵.۱۱۷: نقطہ $(1,0,0)$ سے $(1,0,1)$ تک درج ذیل راہ کے ہمراہ $\boldsymbol{F} = (x^2+y)\boldsymbol{i} + (y^2+x)\boldsymbol{j} + ze^z\boldsymbol{k}$ کا
۲۳۹۶۳ کام تلاش کریں۔

۲۳۹۶۴ ا. لکیری قطع $x = 1$ ، $y = 0$ ، $0 \le z \le 1$

۲۳۹۶۵ ب. پیچدار منحنی $\boldsymbol{r}(t) = (\cos t)\boldsymbol{i} + (\sin t)\boldsymbol{j} + \frac{t}{2\pi}\boldsymbol{k},\ 0 \le t \le 2\pi$

۲۳۹۶۶ ج. محور x پر $(1,0,0)$ سے $(0,0,0)$ کے بعد $(0,0,0)$ سے $(1,0,1)$ تک قطع مکافی $z = x^2,\ y = 0$

۲۳۹۶۷ سوال ۱۵.۱۱۸: قوت $\boldsymbol{F} = e^{yz}\boldsymbol{i} + (xze^{yz} + z\cos y)\boldsymbol{j} + (xye^{yz} + \sin y)\boldsymbol{k}$ کا کام نقطہ $(1,0,1)$ تا
۲۳۹۶۸ $(1, \frac{\pi}{2}, 0)$ درج ذیل راہ کے ہمراہ تلاش کریں۔

۲۳۹۶۹ ا. لکیری قطع $x = 1$ ، $y = \frac{\pi t}{2}$ ، $z = 1 - t$ ، $0 \le t \le 1$

۲۳۹۷۰ ب. نقطہ $(1,0,1)$ سے مبدا تک قطع اور اس کے بعد مبدا سے $(1, \frac{\pi}{2}, 0)$ تک قطع۔

۲۳۹۷۱ ج. نقطہ $(1,0,1)$ تا $(1,0,0)$ قطع کے بعد محور x پر $(1,0,0)$ سے مبدا اور آخر میں قطع مکافی $y = \frac{\pi x^2}{2},\ z = 0$

۲۳۹۷۲ سوال ۱۵.۱۱۹: مستوی xy میں $(-1,1)$ تا $(1,1)$ راہ C ، نقطہ $(-1,1)$ تا $(0,0)$ اور نقطہ $(0,0)$ تا $(1,1)$ قطعات پر
۲۳۹۷۳ مشتمل ہے جبکہ $\boldsymbol{F} = \nabla(x^3y^2)$ ہے۔ تکمل $\int_C \boldsymbol{F}\cdot d\boldsymbol{r}$ کی قیمت درج ذیل دو طریقوں سے تلاش کریں۔

۲۳۹۷۴ ا. راہ C کی مقدار معلوم روپ تلاش کریں۔ اس کو استعمال کر کے تکمل کی قیمت حاصل کریں۔

۲۳۹۷۵ ب. اس حقیقت کو برائے کار لائیں کہ $\boldsymbol{F}$ کا مخفی قوہ تفاعل $f(x,y) = x^3y^2$ ہے۔

۲۳۹۷۶ سوال ۱۵.۱۲۰: مستوی xy میں درج ذیل راہ C کے ہمراہ $\int_C 2x\cos y\,dx - x^2\sin y\,dy$ کی قیمت تلاش کریں۔

۲۳۹۷۷ ا. نقطہ $(1,0)$ تا $(0,1)$ قطع مکافی $y = (x-1)^2$

۲۳۹۷۸ ب. نقطہ $(-1,\pi)$ تا $(1,0)$ لکیری قطع

۲۳۹۷۹ ج. ستارہ نما $\boldsymbol{r}(t) = (\cos^3 t)\boldsymbol{i} + (\sin^3 t)\boldsymbol{j},\ 0 \le t \le 2\pi$ پر نقطہ $(1,0)$ سے خلاف گھڑی واپس نقطہ $(1,0)$ تک۔

۲۳۹۸۰ سوال ۱۵.۱۲۱: ثقلی میدان $\boldsymbol{F} = -GmM\frac{x\boldsymbol{i}+y\boldsymbol{j}+z\boldsymbol{k}}{(x^2+y^2+z^2)^{3/2}}$ کا مخفی قوہ تفاعل تلاش کریں۔

۲۳۹۸۱ سوال ۱۵.۱۲۲: مبدا سے s_1 اور s_2 فاصلوں پر بالترتیب نقاط N_1 اور N_2 پائے جاتے ہیں۔ دکھائیں کہ سوال ۱۵.۱۲۱ کے ثقلی میدان میں N_1
۲۳۹۸۲ سے N_2 تک ایک ذرہ کو منتقل کرنے کے لئے $GmM\left(\frac{1}{s_2} - \frac{1}{s_1}\right)$ کام درکار ہو گا۔

سوال ۱۵.۱۲۳: (ا) روپ $(ay^2 + 2czx)\,\mathrm{d}x + y(bx + cz)\,\mathrm{d}y + (ay^2 + cx^2)\,\mathrm{d}z$ قطعی تفرقی ہونے کی صورت میں مستقل a ، b اور c کا تعلق تلاش کریں۔ (ب) b اور c کی کن قیمتوں کے لئے درج ذیل میدان ڈھلوان ہو گا؟

$$\boldsymbol{F} = (y^2 + 2czx)\boldsymbol{i} + y(bx + cz)\boldsymbol{j} + (y^2 + cx^2)\boldsymbol{k}$$

سوال ۱۵.۱۲۴: فرض کریں $\boldsymbol{F} = \nabla f$ بقائی سمتی میدان ہے اور $g(x, y, z) = \int_{(0,0,0)}^{(x,y,z)} \boldsymbol{F} \cdot \mathrm{d}\boldsymbol{r}$ ہے۔ دکھائیں کہ $\nabla g = \boldsymbol{F}$ ہو گا۔

سوال ۱۵.۱۲۵: آپ کو دو نقطوں کے بیچ وہ راہ تلاش کرنی ہے جس پر چلتے ہوئے $\boldsymbol{F}$ کم سے کم کام کرے گا۔ آپ جانتے ہیں کہ $\boldsymbol{F}$ بقائی ہے۔ آپ کا جواب کیا ہو گا؟ اپنے جواب کی وجہ پیش کریں۔

سوال ۱۵.۱۲۶: آپ تجرباتی طور جانتے ہیں کہ A سے B تک راہ C_1 کے ہمراہ $\boldsymbol{F}$ کا کام راہ C_2 کے ہمراہ کام کا نصف ہے۔ آپ $\boldsymbol{F}$ کے بارے میں کیا کہہ سکتے ہیں؟ اپنے جواب کی وجہ پیش کریں۔

۱۵.۴ مستوی میں مسئلہ گرین

ہم اب ایک ایسا مسئلہ پیش کرتے ہیں جو مستوی خطہ کی سرحد کے ہمراہ یا اس کو عبور کرتے ہوئے داب ناپذیر سیال کی بہاؤ اور خطہ کے اندر اس کی حرکت کے بیچ تعلق پیش کرتا ہے۔ پھیلاو اور گردش کے تصورات سیال کے سرحدی رویہ اور اندرونی رویہ کے بیچ تعلق پیش کرنا ممکن بناتے ہیں۔ سیال کی سمتی رفتار میدان کا پھیلاو کسی نقطہ پر خطہ میں سیال کے دخول یا خروج کی ناپ ہے جبکہ گردش اس نقطہ پر سیال کے گھومنے کی شرح کی ناپ ہے۔

مسئلہ گرین کہتا ہے کہ، چند ایسے شرائط مطمئن ہونے کی صورت میں جو عملی استعمال میں عموماً پورے ہوتے ہیں، مستوی خطہ کی سرحد سے خارجی بہاؤ سرحد کے اندر میدان کے پھیلاو کے دوہرا تکمل کے برابر ہو گا۔ اس مسئلے کا دوسرا روپ کہتا ہے کہ خطہ کی سرحد کے ہمراہ خلاف گھڑی دائری بہاؤ اس خطہ میں میدان کی گردش کے دوہرا تکمل کے برابر ہو گا۔

مسئلہ گرین، علم احصاء کے عظیم مسائل میں سے ایک ہے۔ یہ گہرا اور حیرت کن ہے اور اس کے دور رس نتائج پائے جاتے ہیں۔ خالص ریاضیات میں مسئلہ گرین کی اہمیت، احصاء کے بنیادی مسئلہ کے برابر ہے۔ عملی ریاضیات میں مسئلہ گرین کا تین ابعادی روپ برقی، مقناطیسی، اور سیالی حرکیات کے مسائل کا بنیاد مہیا کرتا ہے۔

ہم سیال کی حرکت کی سمتی رفتار میدان کی بات اس لئے کرتے ہیں کہ سیال کی حرکت کا ذہنی خاکہ بنانا آسان ہوتا ہے۔ یاد رہے کہ مسئلہ گرین کسی بھی سمتی میدان، جو چند شرائط کو مطمئن کرتا ہو، کے لئے درست ہو گا۔ اس کی درستگی میدان کے کسی خصوصی طبیعی خاصیت کے ہونے پر منحصر نہیں ہے۔

نقطہ پر کثافت بہاؤ: پھیلاو

مسئلہ گرین کے لئے ہمیں دو نئے تصورات کی ضرورت پیش آتی ہے۔ پہلا تصور، ایک نقطہ پر سمتی میدان کی کثافت بہاؤ ہے جس کو ریاضیات میں سمتی میدان کا پھیلاو کہتے ہیں۔ اس کو حاصل کرنے کا طریقہ درج ذیل ہے۔

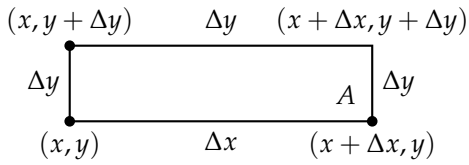

شکل ۱۵.۳۱: نقطہ (x, y) پر سمتی میدان کی کثافت بہاؤ (پھیلاؤ) کی تعریف کے لئے درکار مستطیل۔

۲۴۰۰۸ فرض کریں مستوی میں سمتی میدانی کا سیالی بہاؤ $\boldsymbol{F}(x, y) = M(x, y)\boldsymbol{i} + N(x, y)\boldsymbol{j}$ ہے اور خطہ R کے ہر نقطہ پر M اور N
۲۴۰۰۹ کے یک رتبی جزوی تفرق استمراری ہیں۔ خطہ R میں (x, y) ایک نقطہ ہے اور A ایک ایسا چھوٹا مستطیل ہے جو مکمل طور پر R میں پایا جاتا ہے اور
۲۴۰۱۰ جس کا ایک راس (x, y) ہے (شکل ۱۵.۳۱)۔ اس مستطیل کے اطراف محددی محور کے متوازی ہیں اور ان کی لمبائیاں Δx اور Δy ہیں۔ مستطیل کی
۲۴۰۱۱ نچلی سرحد کو عبور کرتا ہوا خارجی سیال کی شرح تخمیناً نقطہ (x, y) پر باہر رخ عمودی سمتی رفتار کے غیر سمتی جزو ضرب لمبائی قطع کے برابر ہو گی:

$$\boldsymbol{F}(x, y) \cdot (-\boldsymbol{j})\Delta x = -N(x, y)\Delta x \tag{۱}$$

۲۴۰۱۲ یوں اگر سمتی رفتار کی اکائی میٹر فی سیکنڈ ہو تب خارجی شرح کی اکائی میٹر فی سیکنڈ ضرب میٹر یعنی مربع میٹر فی سیکنڈ ہو گی۔ باقی تین اطراف کے عمودی باہر رخ
۲۴۰۱۳ خارجی سیال کی شرح بھی اسی طرح حاصل کی جا سکتی ہیں۔ چاروں اطراف کے نتائج کو یہاں پیش کرتے ہیں۔

$$\begin{aligned}
\boldsymbol{F}(x, y+\Delta y) \cdot \boldsymbol{j}\Delta x &= N(x, y+\Delta y)\Delta x && \text{بالا} \\
\boldsymbol{F}(x, y) \cdot (-\boldsymbol{j})\Delta x &= -N(x, y)\Delta x && \text{نچلا} \\
\boldsymbol{F}(x+\Delta x, y) \cdot \boldsymbol{i}\Delta y &= M(x+\Delta x, y)\Delta y && \text{دایاں} \\
\boldsymbol{F}(x, y) \cdot (-\boldsymbol{i})\Delta y &= -M(x, y)\Delta y && \text{بایاں}
\end{aligned} \tag{۲}$$

۲۴۰۱۴ مخالف اضلاع کی شرح کے مجموعات درج ذیل ہوں گے۔

$$[N(x, y+\Delta y) - N(x, y)]\Delta x \approx \left(\frac{\partial N}{\partial y}\Delta y\right)\Delta x \qquad \text{نچلا اور بالا} \tag{۳}$$

$$[M(x+\Delta x, y) - M(x, y)]\Delta y \approx \left(\frac{\partial M}{\partial x}\Delta x\right)\Delta y \qquad \text{دایاں اور بایاں} \tag{۴}$$

۲۴۰۱۵ مساوات ۳ اور مساوات ۴ کا مجموعہ کل اخراج دیگا:

$$\text{مستطیل کی سرحد کو عبور کرتا ہوا بہاؤ} \approx \left(\frac{\partial M}{\partial x} + \frac{\partial N}{\partial y}\right)\Delta x\Delta y$$

۲۴۰۱۶ ہم اب $\Delta x\Delta y$ سے تقسیم کر کے بہاؤ فی اکائی رقبہ یعنی بہاؤ کی کثافت حاصل کرتے ہیں۔

$$\frac{\text{مستطیل کی سرحد کو عبور کرتا ہوا بہاؤ}}{\text{مستطیل کا رقبہ}} \approx \left(\frac{\partial M}{\partial x} + \frac{\partial N}{\partial y}\right)$$

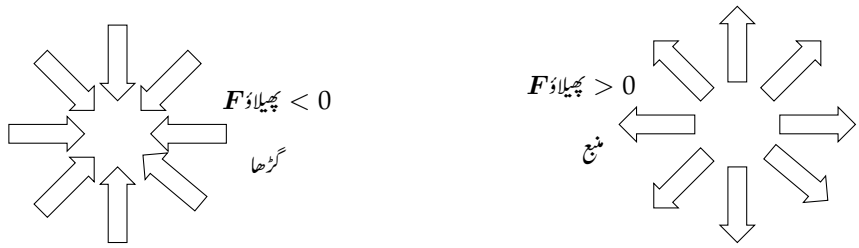

نقطہ (x_0, y_0) پر چھوٹے سوراخ کے ذریعہ خطہ میں سیال کا دخول۔ نقطہ (x_0, y_0) پر چھوٹے سوراخ کے ذریعہ خطہ سے سیال کا اخراج۔

شکل ۱۵.۳۲: داب ناپذیر سیال کے بہاؤ کی صورت میں مستوی خطہ کو پار کرتے ہوئے ''منبع'' پر، جہاں نظام میں سیال داخل ہو گا، پھیلاؤ مثبت ہو گا، جبکہ ''گڑھا'' پر، جہاں نظام سے سیال کا اخراج ہو گا، پھیلاؤ منفی ہو گا۔

۲۴۰۱۷ آخر میں ہم Δx اور Δy کو صفر تک پہنچا کر نقطہ (x, y) پر $\boldsymbol{F}$ کے کثافت بہاؤ کی تعریف اخذ کرتے ہیں۔

۲۴۰۱۸ ریاضیات میں ہم کثافت بہاؤ کو $\boldsymbol{F}$ کا پھیلاو کہتے ہیں۔ میدان $\boldsymbol{F}$ کے پھیلاو کو ہم پھیلاو $\boldsymbol{F}$ لکھتے ہیں۔

۲۴۰۱۹ تعریف: نقطہ (x, y) پر سمتی میدان $\boldsymbol{F} = M\boldsymbol{i} + N\boldsymbol{j}$ کا کثافت بہاؤ یا **پھیلاو**[۱۳] درج ذیل ہو گا۔

$$\boldsymbol{F} \text{ پھیلاو} = \frac{\partial M}{\partial x} + \frac{\partial N}{\partial y} \tag{۵}$$

۲۴۰۲۰ □

۲۴۰۲۱ اگر نقطہ (x_0, y_0) پر باریک سوراخ سے سیال خطہ میں داخل ہو تب اس سوراخ سے خطہ میں سیال پھیلے گا (جس کی وجہ سے اس کو پھیلاؤ نام دیا گیا ہے)۔
۲۴۰۲۲ چھوٹے مستطیل میں نقطہ (x_0, y_0) پر سوراخ سے خطہ میں سیال داخل ہونے کی صورت میں پھیلاو مثبت ہو گا جبکہ اس نقطہ پر سوراخ کے ذریعہ خطہ سے
۲۴۰۲۳ سیال کے اخراج کی صورت میں پھیلاو کی قیمت منفی ہو گی (شکل ۱۵.۳۲)۔

۲۴۰۲۴ مثال ۱۵.۱۴: سمتی میدان $\boldsymbol{F}(x, y) = (x^2 - y)\boldsymbol{i} + (xy - y^2)\boldsymbol{j}$ کا پھیلاو تلاش کریں۔

۲۴۰۲۵ حل: ہم مساوات ۱۵ استعمال کرتے ہیں۔

$$\begin{aligned}\boldsymbol{F} \text{ پھیلاو} &= \frac{\partial M}{\partial x} + \frac{\partial N}{\partial y} = \frac{\partial}{\partial x}(x^2 - y) + \frac{\partial}{\partial y}(xy - y^2)\\ &= 2x - x - 2y = 3x - 2y\end{aligned}$$

۲۴۰۲۶ □

---

[۱۳] divergence

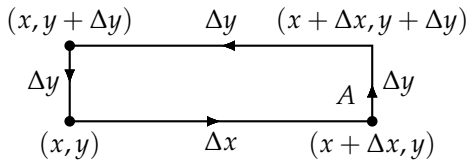

شکل ۱۵.۳۳: نقطہ (x, y) پر کثافت دائری بہاؤ (گردش) کی تعریف کے لئے درکار مستطیل۔

۲۴۰۲۷ ایک نقطہ پر کثافت دائری بہاؤ: گردش

۲۴۰۲۸ مسئلہ گرین کے لئے درکار دوسرا نیا تصور ایک نقطہ پر سمتی میدان $\boldsymbol{F}$ کی کثافت دائری بہاؤ ہے جس کو ریاضیات میں $\boldsymbol{F}$ کی گردش کہتے ہیں۔ اس کو حاصل
۲۴۰۲۹ کرنے کی خاطر ہم وہی سمتی میدان

$$\boldsymbol{F}(x, y) = M(x, y)\boldsymbol{i} + N(x, y)\boldsymbol{j}$$

۲۴۰۳۰ اور نقطہ (x, y) پر چھوٹا مستطیل رقبہ A لیتے ہیں۔ اس مستطیل کو شکل ۱۵.۳۳ میں دوبارہ پیش کیا گیا ہے۔

۲۴۰۳۱ رقبہ A کے گرد خلاف گھڑی $\boldsymbol{F}$ کا دائری بہاؤ مستطیل A کے اطراف کے ہمراہ بہاؤ کی شرح کا مجموعہ ہوگا۔ اکائی مماسی سمتیہ $\boldsymbol{i}$ کے رخ سمتی رفتار $\boldsymbol{F}$
۲۴۰۳۲ کا غیر سمتی جزو ضرب لمبائی قطع تخمیناً نچلے ضلع کے ہمراہ بہاؤ کے برابر ہوگا:

$$\boldsymbol{F}(x, y) \cdot \boldsymbol{i}\Delta x = M(x, y)\Delta x \tag{۶}$$

۲۴۰۳۳ باقی اطراف کے ہمراہ خلاف گھڑی بہاؤ اسی طرح حاصل کی جاسکتی ہیں۔ چاروں اضلاع کے نتائج درج ذیل ہوں گے۔

$$\begin{aligned}
\boldsymbol{F}(x, y+\Delta y) \cdot (-\boldsymbol{i})\Delta x &= -M(x, y+\Delta y)\Delta x && \text{بالا} \\
\boldsymbol{F}(x, y) \cdot \boldsymbol{i}\Delta x &= M(x, y)\Delta x && \text{نچلا} \\
\boldsymbol{F}(x+\Delta x, y) \cdot \boldsymbol{j}\Delta y &= N(x+\Delta x, y)\Delta y && \text{دایاں} \\
\boldsymbol{F}(x, y) \cdot (-\boldsymbol{j})\Delta y &= -N(x, y)\Delta y && \text{بایاں}
\end{aligned} \tag{۷}$$

۲۴۰۳۴ ہم مخالف اطراف کے اجزاء کا مجموعہ لیتے ہیں۔

$$-[M(x, y+\Delta y) - M(x, y)]\Delta x \approx -\left(\frac{\partial M}{\partial y}\Delta y\right)\Delta x \qquad \text{بالا اور نچلا} \tag{۸}$$

$$[N(x+\Delta x, y) - N(x, y)]\Delta y \approx \left(\frac{\partial N}{\partial x}\Delta x\right)\Delta x \qquad \text{دایاں اور بایاں} \tag{۹}$$

۲۴۰۳۵ مساوات ۸ اور مساوات ۹ کے مجموعہ کو $\delta x \Delta y$ سے تقسیم کرکے مستطیل کی کثافت دائری بہاؤ کی تخمینی قیمت حاصل ہوگی:

$$\frac{\text{مستطیل کے گرد دائری بہاؤ}}{\text{مستطیل کا رقبہ}} \approx \frac{\partial N}{\partial x} - \frac{\partial M}{\partial y}$$

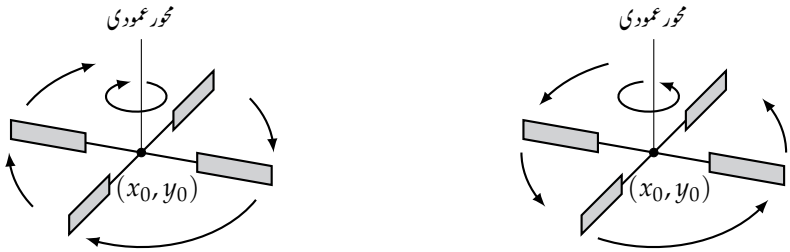

$\boldsymbol{F}$ گردش $(x_0, y_0) > 0$
خلاف گھڑی دائری بہاؤ

$\boldsymbol{F}$ گردش $(x_0, y_0) < 0$
گھڑی وار دائری بہاؤ

شکل ۱۵.۳۴: مستوی خطہ پر داب ناپذیر سیال کے بہاؤ میں کسی نقطہ پر سیال کے گھومنے کی شرح کی ناپ کو گردش کہتے ہیں۔ جن نقطوں پر سیال خلاف گھڑی گھومتا ہے ان نقطوں پر گردش مثبت ہو گی جبکہ جن نقطوں پر سیال کا گھماؤ گھڑی وار ہو وہاں گردش منفی ہو گی۔

۲۴۰۳۶ آخر میں ہم Δx اور Δy کو صفر تک پہنچا کر نقطہ (x, y) پر $\boldsymbol{F}$ کی کثافت دائری بہاؤ کی تعریف اخذ کرتے ہیں جس کو ریاضیات میں $\boldsymbol{F}$ کی گردش کہتے
۲۴۰۳۷ ہیں۔

۲۴۰۳۸ تعریف: نقطہ (x, y) پر سمتی میدان $\boldsymbol{F}$ کی کثافت دائری بہاؤ یا **گردش**[۱۴] درج ذیل ہو گی۔

$$\boldsymbol{F} \text{ گردش} = \frac{\partial N}{\partial x} - \frac{\partial M}{\partial y} \tag{۱۰}$$

۲۴۰۳۹ □

۲۴۰۴۰ مستوی xy میں نہایت کم گہرائی کے رواں پانی میں نقطہ (x_0, y_0) پر گردش یا کثافت دائری بہاؤ، اس نقطہ پر نسب چرخی، جس کا محور مستوی کو عمودی ہو،
۲۴۰۴۱ کی حرکت کی رفتار اور رخ کی پیمائش ہو گی (شکل ۱۵.۳۴)۔

۲۴۰۴۲ مثال ۱۵.۱۵: درج ذیل سمتی میدان کی گردش تلاش کریں۔

$$\boldsymbol{F}(x, y) = (x^2 - y)\boldsymbol{i} + (xy - y^2)\boldsymbol{j}$$

۲۴۰۴۳ حل: ہم مساوات ۱۰ استعمال کرتے ہیں۔

$$\boldsymbol{F} \text{ گردش} = \frac{\partial N}{\partial x} - \frac{\partial M}{\partial y} = \frac{\partial}{\partial x}(xy - y^2) + \frac{\partial}{\partial y}(x^2 - y) = y + 1$$

۲۴۰۴۴ □

---

[۱۴] curl

شکل ۱۵.۳۵: مسئلہ گرین کے ثبوت میں ہم دو قسم کی بند منحنیات، سادہ اور غیر سادہ، میں فرق کرتے ہیں۔ سادہ منحنی اپنے آپ پر نہیں گزرتی۔ یوں دائرہ ایک سادہ منحنی ہے جبکہ "8" شکل کی منحنی غیر سادہ ہے۔

۲۴۰۳۵ مستوی میں مسئلہ گرین

۲۴۰۳۶ مسئلہ گرین کا ایک روپ کہتا ہے کہ موزوں حالات میں مستوی میں **سادہ** [۱۵] بند منحنی سے سمتی میدان کا خارجی بہاؤ، اس منحنی میں محیط خطہ پر میدان کے پھیلاو
۲۴۰۳۷ کے دہرا تکمل کے برابر ہو گا۔ مساوات ۱۳ اور مساوات ۴ میں بہاؤ کے کلیات پر دوبارہ نظر ڈالیں (شکل ۱۵.۳۵)۔

۲۴۰۳۸ مسئلہ ۱۵.۳: **مسئلہ گرین (پھیلاو و بہاؤ یا عمودی روپ)**

۲۴۰۳۹ سادہ بند منحنی C سے میدان $\boldsymbol{F} = M\boldsymbol{i} + N\boldsymbol{j}$ کا اخراجی بہاؤ، C میں محیط خطہ R پر F کے پھیلاو کے دہرا تکمل کے برابر ہو گا۔

$$\underbrace{\oint_C \boldsymbol{F}\cdot\boldsymbol{n}\,\mathrm{d}s = \oint_C M\,\mathrm{d}y - N\,\mathrm{d}x}_{\text{اخراجی بہاؤ}} = \underbrace{\iint_R \left(\frac{\partial M}{\partial x} + \frac{\partial N}{\partial y}\right)\mathrm{d}x\,\mathrm{d}y}_{\text{تکمل پھیلاو}} \tag{۱۱}$$

۲۴۰۵۰

۲۴۰۵۱ مسئلہ گرین کا دوسرا روپ کہتا ہے کہ ایک سادہ بند منحنی کے ہمراہ، خلاف گھڑی ایک میدان کا دائری بہاؤ، اس منحنی میں محیط خطہ پر میدان کی گردش کے دہرا
۲۴۰۵۲ تکمل کے برابر ہو گا۔

۲۴۰۵۳ مسئلہ ۱۵.۴: **مسئلہ گرین (دائری بہاؤ و گردش یا مماسی روپ)**

۲۴۰۵۴ مستوی میں ایک سادہ بند منحنی C کے ہمراہ خلاف گھڑی، میدان $\boldsymbol{F} = M\boldsymbol{i} + N\boldsymbol{j}$ کی دائری بہاؤ، منحنی میں محیط خطہ R پر میدان کی گردش کے
۲۴۰۵۵ دہرا تکمل کے برابر ہو گا۔

$$\underbrace{\oint_C \boldsymbol{F}\cdot\boldsymbol{T}\,\mathrm{d}s = \oint_C M\,\mathrm{d}x + N\,\mathrm{d}y}_{\text{خلاف گھڑی دائری بہاؤ}} = \underbrace{\iint_R \left(\frac{\partial N}{\partial x} - \frac{\partial M}{\partial y}\right)\mathrm{d}x\,\mathrm{d}y}_{\text{تکمل گردش}} \tag{۱۲}$$

۲۴۰۵۶ □

۲۴۰۵۷

[۱۵] simple

۲۴۰۵۸ میدان $\boldsymbol{F} = M\boldsymbol{i} + N\boldsymbol{j}$ کے لئے مساوات ۲ میں دائری بہاؤ کے لئے دیا گیا تکمل درج ذیل معادل روپ اختیار کرے گا۔

$$\oint_C \boldsymbol{F}\cdot\boldsymbol{T}\,\mathrm{d}s = \oint_C M\,\mathrm{d}x + N\,\mathrm{d}y$$

۲۴۰۵۹ مسئلہ گرین کے دو روپ ایک دوسرے کے معادل ہیں۔ میدان $\boldsymbol{G}_1 = N\boldsymbol{i} - M\boldsymbol{j}$ پر مساوات ۱۱ کا اطلاق مساوات ۱۲ دے گی جبکہ میدان
۲۴۰۶۰ $\boldsymbol{G}_2 = -N\boldsymbol{i} + M\boldsymbol{j}$ پر مساوات ۱۲ کا اطلاق مساوات ۱۱ دے گی۔

۲۴۰۶۱ مسئلہ گرین کے لئے ضروری ہے دو مفروضے مطمئن ہوتے ہوں۔ اول ہمیں M اور N پر ایسا شرائط مسلط کرنے ہوں گے کہ مسئلہ گرین میں پائے جانے
۲۴۰۶۲ والے تکملات موجود ہوں۔ ہم فرض کرتے ہیں کہ کسی ایسے کھلا خطہ، جس میں C اور R پائے جاتے ہوں، کے ہر نقطہ پر M اور N اور ان کے یک رتبی
۲۴۰۶۳ تفرق استراری ہوں گے۔ دوم، ہمیں منحنی C پر ہندسی شرائط مسلط کرنے ہوں گے۔ منحنی سادہ، بند اور ایسے ٹکڑوں پر مشتمل ہونی چاہیے جن کے ہمراہ M
۲۴۰۶۴ اور N قابل تکمل ہوں۔ ہم فرض کرتے ہیں کہ C ٹکڑوں میں ہموار ہے۔ ہم جو ثبوت مسئلہ گرین کے لئے پیش کرتے ہیں اس میں R کی شکل و صورت پر
۲۴۰۶۵ بھی شرائط مسلط کئے گئے ہیں۔ اعلیٰ نصاب کی کتب میں نسبتاً کم شرائط پر مبنی ثبوت موجود ہیں۔ آئیں پہلے چند مثالیں دیکھیں۔

۲۴۰۶۶ مثال ۱۵.۱۶: مسئلہ گرین کے دونوں روپ کی تصدیق میدان

$$\boldsymbol{F}(x,y) = (x-y)\boldsymbol{i} + x\boldsymbol{j}$$

۲۴۰۶۷ کے لئے اکائی دائرہ C میں محدود خطہ R پر کریں۔

$$C: \quad \boldsymbol{r}(t) = (\cos t)\boldsymbol{i} + (\sin t)\boldsymbol{j}, \quad 0 \le t \le 2\pi$$

۲۴۰۶۸ حل: ہم پہلے تفاعلات، تفرق اور تفریق کو t کی صورت میں لکھتے ہیں۔

$$\begin{aligned} M &= \cos t - \sin t, \quad \mathrm{d}x = \mathrm{d}(\cos t) = -\sin t\,\mathrm{d}t \\ N &= \cos t, \quad \mathrm{d}y = \mathrm{d}(\sin t) = \cos t\,\mathrm{d}t \\ \frac{\partial M}{\partial x} &= 1, \quad \frac{\partial M}{\partial y} = -1, \quad \frac{\partial N}{\partial x} = 1, \quad \frac{\partial N}{\partial y} = 0 \end{aligned}$$

۲۴۰۶۹ مساوات ۱۱ کے دو اطراف درج ذیل روپ اختیار کرتے ہیں۔

$$\begin{aligned} \oint_C M\,\mathrm{d}y - N\,\mathrm{d}x &= \int_{t=0}^{t=2\pi} (\cos t - \sin t)(\cos t\,\mathrm{d}t) - (\cos t)(-\sin t\,\mathrm{d}t) \\ &= \int_0^{2\pi} \cos^2 t\,\mathrm{d}t = \pi \\ \iint_R \left(\frac{\partial M}{\partial x} + \frac{\partial N}{\partial y}\right)\mathrm{d}x\,\mathrm{d}y &= \iint_R (1+0)\,\mathrm{d}x\,\mathrm{d}y \\ &= \iint_R \mathrm{d}x\,\mathrm{d}y = \text{اکائی دائرے کا رقبہ} = \pi \end{aligned}$$

۲۴۰۷۰ مساوات ۱۲ کے دو اطراف درج ذیل روپ اختیار کرتے ہیں۔

$$\begin{aligned}\oint_c M\,\mathrm{d}x + N\,\mathrm{d}y &= \int_{t=0}^{t=2\pi} (\cos t - \sin t)(-\sin t\,\mathrm{d}t) + (\cos t)(\cos t\,\mathrm{d}t)\\ &= \int_0^{2\pi} (-\sin t\cos t + 1)\,\mathrm{d}t = 2\pi\\ \iint_R \left(\frac{\partial N}{\partial x} - \frac{\partial M}{\partial y}\right)\mathrm{d}x\,\mathrm{d}y &= \iint_R (1-(-1))\,\mathrm{d}x\,\mathrm{d}y = 2\iint_R \mathrm{d}x\,\mathrm{d}y = 2\pi\end{aligned}$$

۲۴۰۷۱ □

۲۴۰۷۲ مسئلہ گرین استعمال کرتے ہوئے لکیری تکملات کی قیمت کا تلاش

۲۴۰۷۳ ہم مختلف منحنی کے سر آپس میں جوڑ کر ایک بند منحنی C حاصل کر سکتے ہیں؛ منحنی C پر لکیری تکمل کی قیمت تلاش کرنے کا عمل لمبا ہو سکتا ہے؛ چونکہ اس میں
۲۴۰۷۴ C کے بہت سارے مختلف تکملات کی قیمت حاصل کرنی ہو گی۔ لیکن، اگر C ایسے خطہ R کی حد بندی کرتی ہو، جس پر مسئلہ گرین کا اطلاق ہوتا ہو، ہم مسئلہ
۲۴۰۷۵ گرین استعمال کر کے C پر لکیری تکمل کو R پر دوہرا تکمل میں تبدیل کر سکتے ہیں۔

۲۴۰۷۶ مثال ۱۵.۱۷: درج ذیل تکمل کی قیمت تلاش کریں

$$\oint_C xy\,\mathrm{d}y - y^2\,\mathrm{d}x$$

۲۴۰۷۷ جہاں ربع اول میں لکیر $x = 1$ اور $y = 1$ چوکور C کاٹتی ہیں۔

۲۴۰۷۸ حل: ہم مسئلہ گرین کے دو روپ میں سے کوئی ایک استعمال کر کے لکیری تکمل کو چوکور پر دوہرا تکمل میں تبدیل کر سکتے ہیں۔

۲۴۰۷۹ ۱. مساوات ۱۱ استعمال کرتے ہیں: $M = xy$ ، $N = y^2$ لے کر، جہاں چوکور کی سرحد C اور اس کا اندرون R ہے، ذیل حاصل ہو گا۔

$$\begin{aligned}\oint_C xy\,\mathrm{d}y - y^2\,\mathrm{d}x &= \iint_R (y+2y)\,\mathrm{d}x\,\mathrm{d}y = \int_0^1\int_0^1 3y\,\mathrm{d}x\,\mathrm{d}y\\ &= \int_0^1 \Big[3xy\Big]_{x=0}^{x=1}\mathrm{d}y = \int_0^1 3y\,\mathrm{d}y = \frac{3}{2}y^2\Big]_0^1 = \frac{3}{2}\end{aligned}$$

۲۴۰۸۰ ۲. مساوات ۱۲ استعمال کرتے ہیں: $M = iy^2$ اور $N = xy$ لینے سے یہی نتیجہ حاصل ہو گا۔

$$\oint_C -y^2\,\mathrm{d}x + xy\,\mathrm{d}y = \iint_R (y-(-2y))\,\mathrm{d}x\,\mathrm{d}y = \frac{3}{2}$$

۲۴۰۸۱ □

مثال ۱۵.۱۸: میدان $\boldsymbol{F}(x,y) = x\boldsymbol{i} + y^2\boldsymbol{j}$ کا اس چوکور سے خارجی بہاو تلاش کریں جس کو لکیریں $x = \pm 1$ اور $y = \pm 1$ گھیرتی ہیں۔

حل: لکیری تکمل سے بہاو حاصل کرنے کے لئے چار تکملات کی ضرورت پیش آئے گی؛ چوکور کے ہر ضلع کے لئے ایک تکمل کرنا ہوگا۔ مسئلہ گرین سے ہم لکیری تکمل کو ایک دہرا تکمل میں تبدیل کر سکتے ہیں۔ ہم $M = x$ ، $N = y^2$ ، چوکور C ، اور چوکور کا اندرون R لیتے ہیں۔ یوں درج ذیل ہوگا۔

$$\begin{aligned}
\text{بہاو} &= \oint_C \boldsymbol{F}\cdot\boldsymbol{n}\,\mathrm{d}s = \oint_C M\,\mathrm{d}y - N\,\mathrm{d}x \\
&= \iint_R \left(\frac{\partial M}{\partial x} + \frac{\partial N}{\partial y}\right)\mathrm{d}x\,\mathrm{d}y \qquad \text{(مسئلہ گرین)} \\
&= \int_{-1}^{1}\int_{-1}^{1}(1+2y)\,\mathrm{d}x\,\mathrm{d}y = \int_{-1}^{1}\Big[x+2xy\Big]_{x=-1}^{x=1}\mathrm{d}y \\
&= \int_{-1}^{1}(2+4y)\,\mathrm{d}y = \Big[2y+2y^2\Big]_{-1}^{1} = 4
\end{aligned}$$

□

مسئلہ گرین کا ثبوت (خصوصی خطے)

فرض کریں مستوی xy میں C ایسی ہموار، سادہ، منحنی ہے جس کو محور کے متوازی کوئی لکیر دو سے زیادہ نقطوں پر نہیں کاٹتی۔ فرض کریں، منحنی C خطہ R گھیرتی ہے، اور ایسے کھلا خطہ میں جس میں C اور R دونوں پائے جاتے ہوں M ، N ، اور ان کے یک گنّا جزوی تفرق ہر نقطہ پر استراری ہیں۔ ہم مسئلہ گرین کا دائری بہاو و گردش روپ:

$$\oint_C M\,\mathrm{d}x + N\,\mathrm{d}y = \iint_R \left(\frac{\partial N}{\partial x} - \frac{\partial M}{\partial y}\right)\mathrm{d}x\,\mathrm{d}y \tag{۱۳}$$

ثابت کرنا چاہتے ہیں۔ شکل ۱۵.۳۶ میں C دو سمت بند حصوں کا مجموعہ دکھایا گیا ہے۔

$$C_1 : y = f_1(x), \quad a \le x \le b, \qquad\qquad C_2 : y = f_2(x), \quad b \ge x \ge a$$

نقطہ a اور نقطہ b کے بیچ کسی بھی x کے لئے ہم $\frac{\partial M}{\partial y}$ کا تکمل y کے لحاظ سے $y = f_1(x)$ تا $y = f_2(x)$ لے سکتے ہیں، جو درج ذیل دیگا۔

$$\int_{f_1(x)}^{f_2(x)} \frac{\partial M}{\partial y}\,\mathrm{d}y = M(x,y)\Big]_{y=f_1(x)}^{y=f_2(x)} = M(x,f_2(x)) - M(x,f_1(x)) \tag{۱۴}$$

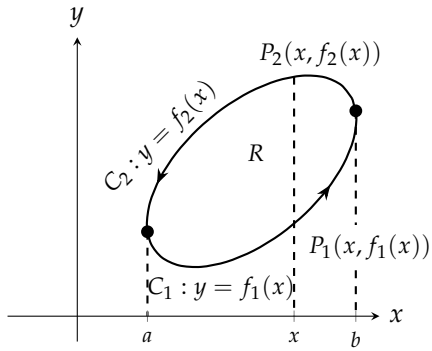

شکل ۱۵.۳۶: منحنی C_1 جو $y = f_1(x)$ کی ترسیم ہے اور C_2 جو $y = f_2(x)$ کی ترسیم ہے، مل کر سرحدی منحنی C دیتی ہیں۔

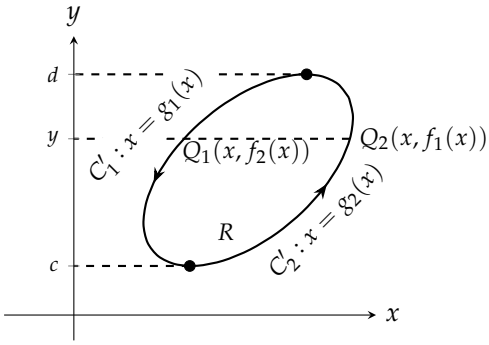

شکل ۱۵.۳۷: منحنی C_1' جو $x = g_1(y)$ کی ترسیم ہے اور C_2' جو $x = g_2(y)$ کی ترسیم ہے، مل کر سرحدی منحنی C دیتی ہیں۔

۲۴۰۹۴ اس کو ہم x کے لحاظ سے a تا b تکمل کر سکتے ہیں۔

$$\begin{aligned}
\int_a^b \int_{f_1(x)}^{f_2(x)} \frac{\partial M}{\partial y}\,\mathrm{d}y\,\mathrm{d}x &= \int_a^b [M(x, f_2(x)) - M(x, f_1(x))]\,\mathrm{d}x \\
&= -\int_b^a M(x, f_2(x))\,\mathrm{d}x - \int_a^b M(x, f_1(x))\,\mathrm{d}x \\
&= -\int_{C_2} M\,\mathrm{d}x - \int_{C_1} M\,\mathrm{d}x \\
&= -\oint_C M\,\mathrm{d}x
\end{aligned}$$

۲۴۰۹۵ یوں درج ذیل ہو گا۔

$$\oint_C M\,\mathrm{d}x = \iint_R \Big(-\frac{\partial M}{\partial y}\Big)\,\mathrm{d}x\,\mathrm{d}y \tag{۱۵}$$

۲۴۰۹۶ مساوات ۱۵ ہمیں مساوات ۱۳ میں درکار نتائج کا نصف حصہ دیتی ہے۔ جیسا شکل ۱۵.۳۷ عندیہ دیتی ہے، اس کا دوسرا نصف حصہ، $\frac{\partial N}{\partial x}$ کا تکمل، پہلے x اور
۲۴۰۹۷ بعد میں y کے لحاظ سے، لے کر حاصل ہو گا۔ اس میں شکل ۱۵.۳۶ کی منحنی C کو درج ذیل دو سمت بند حصوں میں تقسیم کیا گیا ہے۔

$$C_1' : x = g_1(y), \quad d \geq y \geq c \qquad \text{اور} \qquad C_2' : x = g_2(y), \quad c \leq y \leq d$$

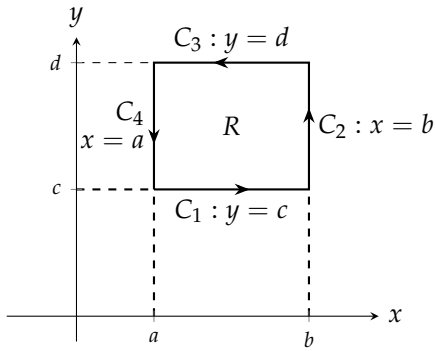

شکل ۱۵.۳۸: مستطیل کے لئے مسئلہ گرین کا ثبوت پیش کرنے کی خاطر ہم سرحد کو چار سمت بند لکیروں میں تقسیم کرتے ہیں۔

۲۴۰۹۸ اس دہرا تکمل کا نتیجہ درج ذیل ہے۔

$$\oint_C N\,\mathrm{d}y = \iint_R \frac{\partial N}{\partial x}\,\mathrm{d}x\,\mathrm{d}y \tag{۱۶}$$

۲۴۰۹۹ مساوات ۱۵ اور مساوات ۱۶ ملا کر مساوات ۱۳ حاصل ہو گی۔ یوں ثبوت مکمل ہوتا ہے۔

۲۴۱۰۰ دیگر خطوں کو ثبوت کی توسیع

۲۴۱۰۱ شکل ۱۵.۳۸ میں لکیر $x = a$ ، $x = b$ ، $y = c$ ، اور $y = d$ مستطیل خطہ کی سرحد کو دو سے زیادہ نقطوں پر مس کرتی ہیں لہٰذا مسئلہ گرین
۲۴۱۰۲ کے ثبوت میں پیش دلائل اس مستطیل خطہ کے لئے قابل قبول نہیں۔ البتہ سرحد C کو چار سمت بند لکیری قطعات

$$\begin{aligned} C_1 :&\quad y = c, \quad a \le x \le b, & C_2 :&\quad x = b, \quad c \le y \le d,\\ C_3 :&\quad y = d, \quad b \ge x \ge a, & C_4 :&\quad x = a, \quad d \ge y \ge c, \end{aligned}$$

۲۴۱۰۳ میں تقسیم کر کے ہم دلائل میں درج ذیل ترمیم کر سکتے ہیں۔

۲۴۱۰۴ مساوات ۱۶ کے ثبوت کی طرز پر چلتے ہوئے درج ذیل ہو گا۔

$$\begin{aligned} \int_c^d \int_a^b \frac{\partial N}{\partial x}\,\mathrm{d}x\,\mathrm{d}y &= \int_c^d (N(b,y) - N(a,y))\,\mathrm{d}y\\ &= \int_c^d N(b,y)\,\mathrm{d}y + \int_d^c N(a,y))\,\mathrm{d}y\\ &= \int_{C_2} N\,\mathrm{d}y + \int_{C_4} N\,\mathrm{d}y \end{aligned} \tag{۱۷}$$

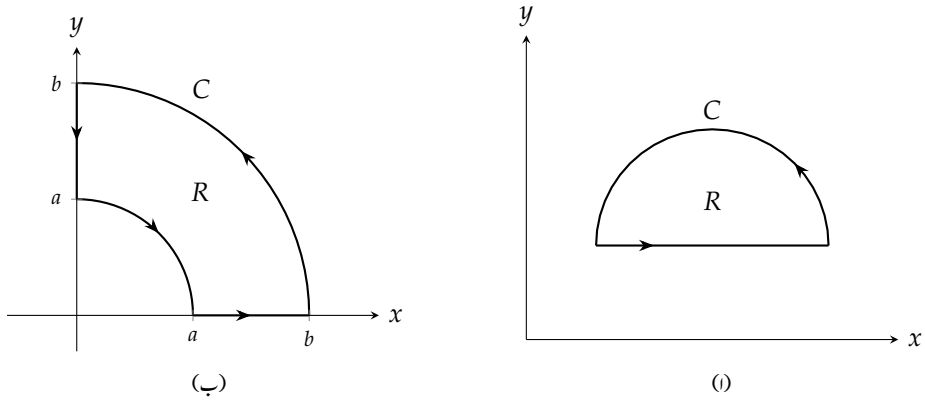

شکل ۱۵.۳۹: دیگر خطے جن پر مسئلہ گرین کا اطلاق ہو گا۔

۲۴۱۰۵ اب C_1 اور C_3 پر y مستقل ہے، لہٰذا $\int_{C_1} N\,\mathrm{d}y = \int_{C_3} N\,\mathrm{d}y = 0$ ہو گا اور ہم مساوات ۱۷ چھیڑے بغیر، اس کے کے دائیں ہاتھ
۲۴۱۰۶ $\int_{C_1} N\,\mathrm{d}y + \int_{C_3} N\,\mathrm{d}y$ جمع کر سکتے ہیں۔ ایسا کرنے سے درج ذیل ہو گا۔

$$\int_c^d \int_a^b \frac{\partial N}{\partial x}\,\mathrm{d}x\,\mathrm{d}y = \oint_C N\,\mathrm{d}y \tag{۱۸}$$

۲۴۱۰۷ اسی طرح ہم درج ذیل دکھا سکتے ہیں۔

$$\int_a^b \int_c^d \frac{\partial M}{\partial y}\,\mathrm{d}y\,\mathrm{d}x = -\oint_C M\,\mathrm{d}x \tag{۱۹}$$

۲۴۱۰۸ مساوات ۱۸ سے مساوات ۱۹ منفی کر کے درج ذیل نتیجہ دوبارہ حاصل ہو گا۔

$$\oint_C M\,\mathrm{d}x + N\,\mathrm{d}y = \iint_R \left(\frac{\partial N}{\partial x} - \frac{\partial M}{\partial y}\right)\mathrm{d}x\,\mathrm{d}y$$

۲۴۱۰۹ شکل ۱۵.۳۹ طرز کے خطوں کو بھی اتنی ہی آسانی سے نپٹا جا سکتا ہے۔ مساوات ۱۳ کا اطلاق اب بھی ہو گا۔ شکل ۱۵.۴۰ میں گھوڑے کے نعل کی شکل کا خطہ R
۲۴۱۱۰ دکھایا گیا ہے؛ اور ہم دیکھتے ہیں کہ خطہ R_1، خطہ R_2 اور ان کی سرحد اکٹھا کرتے ہوئے مساوات ۱۳ کا اطلاق ہو گا۔ مسئلہ گرین کا اطلاق C_1، R_1 اور
۲۴۱۱۱ C_2، R_2 پر ہو گا، جس سے درج ذیل حاصل ہو گا۔

$$\int_{C_1} M\,\mathrm{d}x + N\,\mathrm{d}y = \iint_{R_1} \left(\frac{\partial N}{\partial x} - \frac{\partial M}{\partial y}\right)\mathrm{d}x\,\mathrm{d}y$$
$$\int_{C_2} M\,\mathrm{d}x + N\,\mathrm{d}y = \iint_{R_2} \left(\frac{\partial N}{\partial x} - \frac{\partial M}{\partial y}\right)\mathrm{d}x\,\mathrm{d}y$$

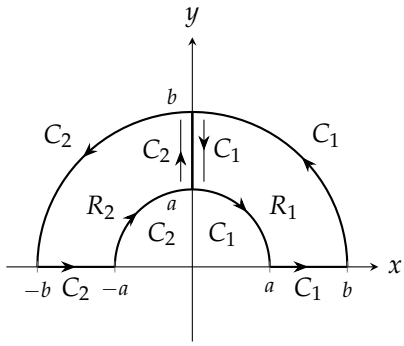

شکل ۱۵.۴۰: خطہ R_1 اور R_2 کو ملا کر خطہ R حاصل کیا گیا ہے۔

ان مساوات کو آپس میں جمع کرتے ہوئے ہم دیکھتے ہیں کہ محور y پر C_1 کے لئے b تا a لکیری تکمل کو C_2 پر اسی قطع پر لیکن مخالف رخ کا تکمل کاٹتا ہے۔ یوں ذیل ہو گا

$$\oint M\,\mathrm{d}x + N\,\mathrm{d}y = \iint_R \left(\frac{\partial N}{\partial x} - \frac{\partial M}{\partial y}\right)\mathrm{d}x\,\mathrm{d}y,$$

جہاں x محور کے دو قطعات $-b$ تا $-a$ اور a تا b اور دو نصف دائرے مل کر C دیتے ہیں، اور جہاں خطہ R منحنی C کے اندر پایا جاتا ہے۔

مختلف سرحدوں پر لکیری تکملات جمع کر کے ایک سرحد پر تکمل کے حصول کی ترکیب کو متناہی تعداد کے ذیلی خطوں تک وسعت دی جا سکتی ہے۔ شکل ۱۵.۴۱-ا میں مخالف گھڑی سمت بند سرحد C_1 ربع اول میں واقع خطہ R_1 کو گھیرتی ہے۔ باقی تین ربعات کے لئے بھی ایسا ہو گا: خطہ R_i کی سرحد C_i ہو گی، جہاں $i = 1, 2, 3, 4$ ہے۔ مسئلہ گرین کے تحت درج ذیل ہو گا۔

$$\oint_{C_i} M\,\mathrm{d}x + N\,\mathrm{d}y = \iint_{R_i} \left(\frac{\partial N}{\partial x} - \frac{\partial M}{\partial y}\right)\mathrm{d}x\,\mathrm{d}y \tag{۲۰}$$

ہم $i = 1, 2, 3, 4$ کے لئے مساوات ۲۰ کا مجموعہ لے کر شکل ۱۵.۴۱-ب حاصل کرتے ہیں۔

$$\oint_{r=b} (M\,\mathrm{d}x + N\,\mathrm{d}y) + \oint_{r=a} (M\,\mathrm{d}x + N\,\mathrm{d}y) = \iint_{a\le r\le b} \left(\frac{\partial N}{\partial x} - \frac{\partial M}{\partial y}\right)\mathrm{d}x\,\mathrm{d}y \tag{۲۱}$$

مساوات ۲۱ کہتی ہے، **چھلے دار**[۱۶] خطہ R پر $(\partial N/\partial x) - (\partial M/\partial y)$ کا دہرا تکمل، R کی مکمل سرحد پر چلتے ہوئے R بائیں ہاتھ رکھ کر $M\,\mathrm{d}x + N\,\mathrm{d}y$ کے لکیری تکمل کے برابر ہو گا (شکل ۱۵.۴۱-ب)۔

مثال ۱۵.۱۹: چھلے دار خطہ $R : h^2 \le x^2 + y^2 \le 1,\ 0 < h < 1$ (شکل ۱۵.۴۲) پر مسئلہ گرین (مساوات ۱۲) کے دائری بہاو روپ کی تصدیق درج ذیل کے لئے کریں۔

$$M = \frac{-y}{x^2 + y^2} \qquad N = \frac{x}{x^2 + y^2}$$

[۱۶] annular

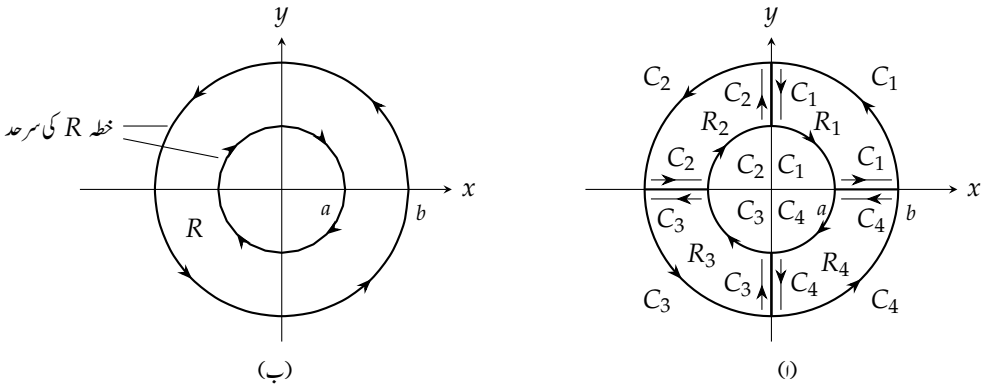

شکل ۱۵.۴۱: خطہ R چار ٹکڑوں پر مشتمل ہے۔ نکی محدد میں اندرونی دائرے کے لئے $r = a$ اور بیرونی کے لئے $r = b$ ہے جبکہ خطہ کے لئے $a \leq r \leq b$ ہے۔

۲۴۱۲۳ حل: خطہ R کی سرحد دائرہ:

$$C_\ell : \quad x = \cos t, \quad y = \sin t, \quad 0 \leq t \leq 2\pi$$

۲۴۱۲۴ جس پر t بڑھانے سے ہم خلاف گھڑی گامزن ہوں گے، اور دائرہ:

$$C_h : \quad x = h\cos\theta, \quad y = -h\sin\theta, \quad 0 \leq \theta \leq 2\pi$$

۲۴۱۲۵ جس پر θ بڑھانے سے ہم گھڑی وار گامزن ہوں گے، پر مشتمل ہے۔ پورے خطہ R میں تفاعلات M ، N اور ان کے جزوی تفرق استمراری ہیں۔ مزید

$$\begin{aligned}\frac{\partial M}{\partial y} &= \frac{(x^2+y^2)(-1)+y(2y)}{(x^2+y^2)^2}\\ &= \frac{y^2-x^2}{(x^2+y^2)^2} = \frac{\partial N}{\partial x}\end{aligned}$$

۲۴۱۲۶ لہٰذا درج ذیل ہو گا۔

$$\iint_R \left(\frac{\partial N}{\partial x} - \frac{\partial M}{\partial y}\right) \mathrm{d}x\,\mathrm{d}y = \iint_R 0\,\mathrm{d}x\,\mathrm{d}y = 0$$

۲۴۱۲۷ خطہ R کی سرحد پر $M\,\mathrm{d}x + N\,\mathrm{d}y$ کا تکمل درج ذیل ہو گا۔

$$\begin{aligned}\int_C M\,\mathrm{d}x + N\,\mathrm{d}y &= \oint_{C_1} \frac{x\,\mathrm{d}y - y\,\mathrm{d}x}{x^2+y^2} + \oint_{C_h} \frac{x\,\mathrm{d}y - y\,\mathrm{d}x}{x^2+y^2}\\ &= \int_0^{2\pi} (\cos^2 t + \sin^2 t)\,\mathrm{d}t - \int_0^{2\pi} \frac{h^2(\cos^2\theta + \sin^2\theta)}{h^2}\,\mathrm{d}\theta\\ &= 2\pi - 2\pi = 0\end{aligned}$$

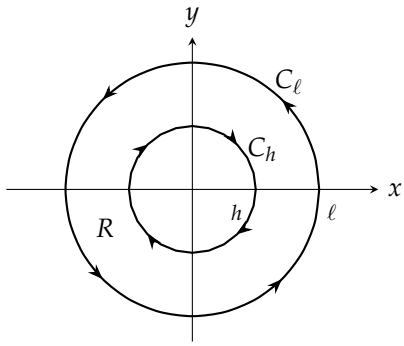

شکل ۱۵.۴۲: دکھائی گئی سرحدوں کے ہمراہ تکمل لیتے ہوئے چھلادار خط R پر مسئلہ گرین کا اطلاق کیا جا سکتا ہے (مثال ۱۵.۱۹)۔

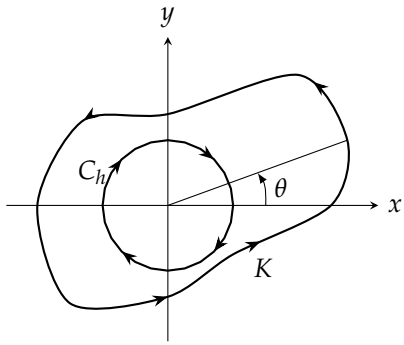

شکل ۱۵.۴۳: دائرہ C اور منحنی K کے بیچ خطہ۔

۲۴۱۲۸ □

۲۴۱۲۹ چونکہ مثال ۱۵.۱۹ میں $(0,0)$ پر تفاعلات M اور N غیر استمراری ہیں لہٰذا دائرہ C_1 اور اس کے اندر خطہ پر مسئلہ گرین کا اطلاق نہیں ہو گا۔ ہمیں
۲۴۱۳۰ مبدا خارج (غیر شامل) کرنا ہو گا؛ ہم C_h کے اندر نقطے خارج کر کے ایسا کرتے ہیں۔

۲۴۱۳۱ ہم مثال ۱۵.۱۹ میں دائرہ C_1 کی بجائے ایسی ترخیم یا سادہ بند منحنی K لے سکتے ہیں، جو C_h کو گھیرتی ہو (شکل ۱۵.۴۳)۔ نتیجہ اب بھی

$$\oint_K (M\,\mathrm{d}x + N\,\mathrm{d}y) + \oint_{C_h} (M\,\mathrm{d}x + N\,\mathrm{d}y) = \iint_R \left(\frac{\partial N}{\partial x} - \frac{\partial M}{\partial y}\right) \mathrm{d}y\,\mathrm{d}x = 0$$

۲۴۱۳۲ ہو گا، جس سے کسی بھی ایسی منحنی K کے لئے درج ذیل حیرت کن نتیجہ اخذ ہوتا ہے۔

$$\oint_K (M\,\mathrm{d}x + N\,\mathrm{d}y) = 2\pi$$

۲۴۱۳۳ قطبی محدد استعمال کر کے یہ نتیجہ سمجھا جا سکتا ہے۔ یوں

$$x = r\cos\theta \qquad y = r\sin\theta$$
$$\mathrm{d}x = -r\sin\theta\,\mathrm{d}\theta + \cos\theta\,\mathrm{d}r \qquad \mathrm{d}y = r\cos\theta\,\mathrm{d}\theta + \sin\theta\,\mathrm{d}r$$

۲۴۱۳۴ لکھ کر درج ذیل ہو گا

$$\frac{x\,\mathrm{d}y - y\,\mathrm{d}x}{x^2+y^2} = \frac{r^2(\cos^2\theta + \sin^2\theta)\,\mathrm{d}\theta}{r^2} = \mathrm{d}\theta$$

۲۴۱۳۵ اور ایک مرتبہ K پر خلاف گھڑی چکر کاٹنے سے θ کی قیمت 2π بڑھتی ہے۔

۲۴۱۳۶ **سوالات**

۲۴۱۳۷

۲۴۱۳۸ مسئلہ گرین کی تصدیق

۲۴۱۳۹ سوال ۱۵.۱۲۷ تا سوال ۱۵.۱۳۰ میں میدان $\boldsymbol{F} = M\boldsymbol{i} + N\boldsymbol{j}$ کے لیے مساوات ۱۱ اور مساوات ۱۲ کے دونوں اطراف کی قیمتیں تلاش کر کے مسئلہ
۲۴۱۴۰ گرین کی تصدیق کریں۔ دونوں صورتوں میں مکمل کا دائرہ کار قرص $R : x^2 + y^2 \leq a^2$ اور محدود کار دائرہ $C : r = (a\cos t)\boldsymbol{i} + (a\sin t)\boldsymbol{j}, 0 \leq t \leq 2\pi$
۲۴۱۴۱ لیں۔

۲۴۱۴۲ سوال ۱۵.۱۲۷: $\boldsymbol{F} = -y\boldsymbol{i} + x\boldsymbol{j}$

۲۴۱۴۳ سوال ۱۵.۱۲۸: $\boldsymbol{F} = y\boldsymbol{i}$

۲۴۱۴۴ سوال ۱۵.۱۲۹: $\boldsymbol{F} = 2x\boldsymbol{i} - 3y\boldsymbol{j}$

۲۴۱۴۵ سوال ۱۵.۱۳۰: $\boldsymbol{F} = -x^2y\boldsymbol{i} + xy^2\boldsymbol{j}$

۲۴۱۴۶

۲۴۱۴۷ خلاف گھڑی دائری بہاو اور باہر رخ بہاو

۲۴۱۴۸ سوال ۱۵.۱۳۱ تا ۱۵.۱۳۶ میں میدان $\boldsymbol{F}$ اور منحنی C کے لیے مسئلہ گرین استعمال کر کے خلاف گھڑی دائری بہاو اور باہر رخ بہاو تلاش کریں۔

۲۴۱۴۹ سوال ۱۵.۱۳۱: $\boldsymbol{F} = (x-y)\boldsymbol{i} + (y-x)\boldsymbol{j}$ اور C کو چوکور $x = 0$ ، $x = 1$ ، $y = 0$ ، $y = 1$ محدود کرتا ہے۔

۲۴۱۵۰ سوال ۱۵.۱۳۲: $\boldsymbol{F} = (x^2+4y)\boldsymbol{i} + (x+y^2)\boldsymbol{j}$ اور C کو چوکور $x = 0$ ، $x = 1$ ، $y = 0$ ، $y = 1$ محدود
۲۴۱۵۱ کرتا ہے۔

۲۴۱۵۲ سوال ۱۵.۱۳۳: $\boldsymbol{F} = (y^2-x^2)\boldsymbol{i} + (x^2+y^2)\boldsymbol{j}$ اور C کو مثلث $y = 0$ ، $x = 3$ ، $y = x$ محدود کرتا ہے۔

۲۴۱۵۳ سوال ۱۵.۱۳۴: $\boldsymbol{F} = (x+y)\boldsymbol{i} - (x^2+y^2)\boldsymbol{j}$ اور C کو مثلث $y = 0$ ، $x = 1$ ، $y = x$ محدود کرتا ہے۔

سوال ۱۵.۱۳۵: $\boldsymbol{F} = (x + e^x \sin y)\boldsymbol{i} + (x + e^x \cos y)\boldsymbol{j}$ اور C دوچشمہ $r^2 = \cos 2\theta$ کا دایاں ہاتھ گھیرتا ہے۔

سوال ۱۵.۱۳۶: $\boldsymbol{F} = \left(\tan^{-1} \frac{y}{x}\right)\boldsymbol{i} + \ln(x^2 + y^2)\boldsymbol{j}$ اور C اس خطے کی سرحد ہے جس کو قطبی محدد عدم مساوات $1 \leq r \leq 2$ ، $0 \leq \theta \leq \pi$ تعین کرتی ہیں۔

سوال ۱۵.۱۳۷: ربع اول میں منحنیات $y = x^2$ اور $y = x$ کے بیچ خطے کی سرحد پر خلاف گھڑی چلتے ہوئے میدان $\boldsymbol{F} = xy\boldsymbol{i} + y^2\boldsymbol{j}$ کا دائری بہاؤ اور خطے سے باہر رخ گزرنے والا بہاؤ تلاش کریں۔

سوال ۱۵.۱۳۸: ربع اول سے لکیر $x = \pi/2$ اور $y = \pi/2$ مربع کاٹتی ہیں۔ میدان $\boldsymbol{F} = (-\sin y)\boldsymbol{i} + (x \cos y)\boldsymbol{j}$ کا اس مربع پر خلاف گھڑی دائری بہاؤ اور خطے سے باہر رخ گزرنے والا بہاؤ تلاش کریں۔

سوال ۱۵.۱۳۹: قلب نما $r = a(1 + \cos\theta)$ $a > 0$ سے درج ذیل میدان کا باہر رخ گزرنے والا بہاؤ تلاش کریں۔

$$\boldsymbol{F} = \left(3xy - \frac{x}{1 + y^2}\right)\boldsymbol{i} + (e^x + \tan^{-1} y)\boldsymbol{j}$$

سوال ۱۵.۱۴۰: جس خطے کو اوپر سے منحنی $y = 3 - x^2$ اور نیچے سے منحنی $y = x^4 + 1$ گھیرتی ہیں اس کی سرحد پر خلاف گھڑی چلتے ہوئے میدان $\boldsymbol{F} = (y + e^x \ln y)\boldsymbol{i} + (e^y/y)\boldsymbol{j}$ کا دائری بہاؤ تلاش کریں۔

کام

دی گئی منحنی پر خلاف گھڑی ایک مرتبہ چل کر سوال ۱۵.۱۴۱ اور سوال ۱۵.۱۴۲ میں $\boldsymbol{F}$ کا کام تلاش کریں۔

سوال ۱۵.۱۴۱: $\boldsymbol{F} = 2xy^3\boldsymbol{i} + 4x^2y^2\boldsymbol{j}$

ربع اول میں محور x ، لکیر $x = 1$ ، اور منحنی $y = x^3$ کے بیچ مثلث نما خطے کی سرحد C ہے۔

سوال ۱۵.۱۴۲: $\boldsymbol{F} = (4x - 2y)\boldsymbol{i} + (2x - 4y)\boldsymbol{j}$

دائرہ $(x - 2)^2 + (y - 2)^2 = 4$ راہ C ہے۔

مستوی میں لکیری تکملات کی قیمت کی تلاش

مسئلہ گرین کا اطلاق سوالات ۱۵.۱۴۳ تا ۱۵.۱۴۶ پر کر کے تکمل کی قیمت تلاش کریں۔

سوال ۱۵.۱۴۳: $\oint_C (y^2\,\mathrm{d}x + x^2\,\mathrm{d}y)$

مثلث C کو $x = 0$ ، $x + y = 1$ ، اور $y = 0$ گھیرتی ہیں۔

سوال ۱۵.۱۴۴: $\oint_C (3y\,\mathrm{d}x + 2x\,\mathrm{d}y)$

خطہ $0 \leq x \leq \pi$ ، $0 \leq y \leq \sin x$ کی سرحد C ہے۔

۲۴۱۷۸ سوال ۱۵.۱۴۵: $\oint_C (6y + x)\,\mathrm{d}x + (y + 2x)\,\mathrm{d}y$

۲۴۱۷۹ دائرہ $(x-2)^2 + (y-3)^2 = 4$ راہ C ہے۔

۲۴۱۸۰ سوال ۱۵.۱۴۶: $\oint_C (2x + y^2)\,\mathrm{d}x + (2xy + 3y)\,\mathrm{d}y$

۲۴۱۸۱ مستوی میں کوئی بھی ایسی بند راہ C جس پر مسئلہ گرین کا اطلاق ہوتا ہو۔

۲۴۱۸۲

۲۴۱۸۳ مسئلہ گرین استعمال کر کے رقبے کی تلاش

۲۴۱۸۴ اگر مستوی میں سادہ منحنی C اور اس میں محیط خطہ R مسئلہ گرین پر پورا اترتے ہوں، R کا رقبہ ذیل ہو گا۔

رقبے کا مسئلہ گرین کلیہ

$$R \text{ رقبہ } = \frac{1}{2}\oint_C x\,\mathrm{d}y - y\,\mathrm{d}x \tag{۲۲}$$

۲۴۱۸۵ اس کی وجہ جانتے ہیں۔ مساوات ۱۱ کو الٹ چلا کر ذیل حاصل ہو گا۔

$$\begin{aligned} R \text{ رقبہ } &= \iint_R \mathrm{d}y\,\mathrm{d}x = \iint_R \left(\frac{1}{2} + \frac{1}{2}\right)\mathrm{d}y\,\mathrm{d}x \\ &= \oint_C \frac{1}{2}x\,\mathrm{d}y - \frac{1}{2}y\,\mathrm{d}x \end{aligned}$$

۲۴۱۸۶ منحنیات میں محیط خطوں کے رقبے، سوال ۱۵.۱۴۷ تا ۱۵.۱۵۰ میں، مساوات ۲۲ استعمال کر کے حاصل کریں۔

۲۴۱۸۷ سوال ۱۵.۱۴۷: دائرہ $\boldsymbol{r}(t) = (a\cos t)\boldsymbol{i} + (a\sin t)\boldsymbol{j},\ 0 \le t \le 2\pi$

۲۴۱۸۸ سوال ۱۵.۱۴۸: ترخیم $\boldsymbol{r}(t) = (a\cos t)\boldsymbol{i} + (b\sin t)\boldsymbol{j},\ 0 \le t \le 2\pi$

۲۴۱۸۹ سوال ۱۵.۱۴۹: ستارہ نما (صفحہ ۱۰۷۶ پر شکل ۱۰.۵۲) $\boldsymbol{r}(t) = (\cos^3 t)\boldsymbol{i} + (\sin^3 t)\boldsymbol{j},\ 0 \le t \le 2\pi$

۲۴۱۹۰ سوال ۱۵.۱۵۰: منحنی $\boldsymbol{r}(t) = t^2\boldsymbol{i} + ((t^3/3) - t)\boldsymbol{j},\ -\sqrt{3} \le t \le \sqrt{t}$

۲۴۱۹۱

۲۴۱۹۲ نظریہ اور مثالیں

۲۴۱۹۳ سوال ۱۵.۱۵۱: فرض کریں خطے کی سرحد C پر مسئلہ گرین کا اطلاق ہوتا ہے۔ مسئلہ گرین استعمال کر کے ذیل کی قیمتیں تلاش کریں۔

۲۴۱۹۴ ا. $\oint_C f(x)\,\mathrm{d}x + g(y)\,\mathrm{d}y$

۲۴۱۹۵ ب. $\oint_C ky\,\mathrm{d}x + hx\,\mathrm{d}y$ (h اور k مستقل ہیں)

۲۴۱۹۶ سوال ۱۵.۱۵۲: دکھائیں کہ مربع کی سرحد پر درج ذیل تکمل کی قیمت مربع کے رقبے پر منحصر ہے نا کہ مستوی میں مربع کے مقام پر۔

$$\oint_C xy^2\,\mathrm{d}x + (x^2y + 2x)\,\mathrm{d}y$$

۲۴۱۹۷ سوال ۱۵.۱۵۳: درج ذیل تکمل میں کیا خاص بات ہے؟ اپنے جواب کی وجوہات پیش کریں۔

$$\oint_C 4x^3y\,\mathrm{d}x + x^4\,\mathrm{d}y$$

۲۴۱۹۸ سوال ۱۵.۱۵۴: درج ذیل تکمل میں کیا خاص بات ہے؟ اپنے جواب کی وجوہات پیش کریں۔

$$\oint_C -y^3\,\mathrm{d}x + x^3\,\mathrm{d}y$$

۲۴۱۹۹ سوال ۱۵.۱۵۵: دکھائیں کہ اگر مستوی میں خطہ R کو ٹکڑوں میں ہموار سادہ بند منحنی C احاطہ کرتی ہو تب درج ذیل ہو گا۔

$$R \text{ رقبہ } = \oint_C x\,\mathrm{d}y = -\oint_C y\,\mathrm{d}x$$

۲۴۲۰۰ سوال ۱۵.۱۵۶: فرض کریں غیر منفی تفاعل $y = f(x)$ کا $[a,b]$ پر یک رتبی تفرق استمراری ہے۔ مستوی xy میں خطہ نیچے سے محور x ،
۲۴۲۰۱ اوپر سے f کی ترسیم، اور اطراف سے لکیر $x = a$ اور لکیر $x = b$ میں گھیرا ہوا ہے اور اس کی سرحد C ہے۔ دکھائیں کہ درج ذیل ہو گا۔

$$\int_a^b f(x)\,\mathrm{d}x = -\oint_C y\,\mathrm{d}x$$

۲۴۲۰۲ سوال ۱۵.۱۵۷: مستوی xy میں خطہ R جو ٹکڑوں میں ہموار سادہ بند منحنی C میں گھیرا ہوا ہے کا رقبہ A ہے اور خطے کے وسطانی مرکز کا x محدد
۲۴۲۰۳ $\bar{x}$ ہے۔ دکھائیں کہ درج ذیل ہو گا۔

$$\frac{1}{2}\oint_C x^2\,\mathrm{d}y = -\oint_C xy\,\mathrm{d}x = \frac{1}{3}\oint_C x^2\,\mathrm{d}y - xy\,\mathrm{d}x = A\bar{x}$$

۲۴۲۰۴ سوال ۱۵.۱۵۸: فرض کریں سوال ۱۵.۱۵۷ میں محور y کے لحاظ سے خطے کا معیار اثر I_y ہے۔ دکھائیں کہ درج ذیل ہو گا۔

$$\frac{1}{3}\oint_C x^3\,\mathrm{d}y = -\oint_C x^2y\,\mathrm{d}x = \frac{1}{4}\oint_C x^3\,\mathrm{d}y - x^2y\,\mathrm{d}x = I_y$$

۲۴۲۰۵ سوال ۱۵.۱۵۹: مسئلہ گرین اور لاپلاس کی مساوات
۲۴۲۰۶ فرض کریں تمام لازم تفرق موجود اور استمراری ہیں۔ دکھائیں کہ اگر $f(x,y)$ لاپلاس کی مساوات

$$\frac{\partial^2 f}{\partial x^2} + \frac{\partial^2 f}{\partial y^2} = 0$$

۲۴۲۰۷ کو مطمئن کرتا ہو تب ان تمام بند منحنیات C پر جن پر مسئلہ گرین کا اطلاق ہوتا ہو درج ذیل ہو گا۔

$$\oint_C \frac{\partial f}{\partial y}\,\mathrm{d}x - \frac{\partial f}{\partial x}\,\mathrm{d}y = 0$$

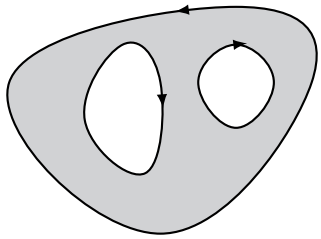

شکل ۱۵.۴۴: متعدد سوراخ والے خطے پر مسئلہ گرین کا اطلاق ہوتا ہے (سوال ۱۵.۱۶۱)۔

(اس کا الٹ بھی درست ہے: اگر مذکورہ بالا لکیری تکمل ہر صورت صفر ہو، تب f لاپلاس کی مساوات کو مطمئن کرے گا۔)

سوال ۱۵.۱۶۰: مستوی میں ان تمام ہموار سادہ بند منحنیات میں سے، جو خلاف گھڑی سمت بند ہوں، وہ تلاش کریں جس پر چلتے ہوئے درج ذیل کا سرانجام کام زیادہ سے زیادہ ہو گا۔

$$\boldsymbol{F} = \left(\frac{1}{4}x^2y + \frac{1}{3}y^3\right)\boldsymbol{i} + x\boldsymbol{j}$$

(اشارہ: $\boldsymbol{F}$ کی گردش کہاں مثبت ہے؟)

سوال ۱۵.۱۶۱: خطہ R پر، جس میں متناہی تعداد کے سوراخ ہوں، اور جس کی سرحدی منحنیات ہموار، سادہ، اور بند ہوں پر مسئلہ گرین کا اطلاق ہو گا بشرطیکہ ہر انفرادی سرحد پر تکمل لیتے ہوئے سرحد پر چلنے کا رخ یوں رکھا جائے کہ قریبی خطہ بائیں ہاتھ ہو۔ (شکل ۱۵.۴۴)۔

ا. اگر $f(x,y) = \ln(x^2+y^2)$ ہو اور دائرہ $x^2+y^2=a^2$ منحنی C ہو، درج ذیل تکمل کی قیمت تلاش کریں۔

$$\oint_C \nabla f \cdot \boldsymbol{n}\,\mathrm{d}s$$

ب. فرض کریں مستوی میں K ایسی ہموار سادہ بند منحنی ہے جو $(0,0)$ سے نہیں گزرتی۔ مسئلہ گرین استعمال کر کے دکھائیں کہ درج ذیل تکمل کی دو ممکنہ جواب ہیں جس کا انحصار اس حقیقت پر ہے کہ آیا $(0,0)$ منحنی K کے اندر واقع ہے یا اس کے باہر۔

$$\oint_K \nabla f \cdot \boldsymbol{n}\,\mathrm{d}s$$

سوال ۱۵.۱۶۲: مستوی سیلان کے انفرادی ذرات کی حرکت کی نمائندگی ہموار منحنیات کرتی ہیں جو **خطوط رو**[۱۷] کہلاتی ہیں۔ سیالی سیلان کے سمتی رفتار سمتیات $\boldsymbol{F} = M(x,y)\boldsymbol{i} + N(x,y)\boldsymbol{j}$، خطوط رو کو مماسی ہیں۔ دکھائیں اگر سیلان سادہ تعلق خطے R (جس میں سوراخ یا غیر موجود نقطے نہیں پائے جاتے) میں واقع ہو، اور پورے R میں $M_x + N_y \neq 0$ ہو، تب R میں کوئی ایک خط رو بھی بند نہیں ہو گا۔ دوسرے لفظوں میں، سیال کا کوئی ذرہ R میں بند راہ پر نہیں چلتا۔ شرط $M_x + N_y \neq 0$ کو بند راہ کی عدم موجودگی کا شرط کہتے ہیں۔

سوال ۱۵.۱۶۳: مسئلہ گرین کے مخصوص صورت کا ثبوت مکمل کرنے کی خاطر مساوات ۱۶ کی تصدیق کریں۔

---

[۱۷] streamlines

سوال ۱۵.۱۶۴: مسئلہ گرین کی وسعت کا دلیل مکمل کرنے کی خاطر مساوات ۱۹ کی تصدیق کریں۔

سوال ۱۵.۱۶۵: کیا بقائی دو ابعادی سمتیہ میدان کی گردش کے بارے میں کچھ کہا جا سکتا ہے؟ اپنے جواب کی وجوہات پیش کریں۔

سوال ۱۵.۱۶۶: کیا بقائی میدان کے دائری بہاؤ کے بارے میں مسئلہ گرین کوئی معلومات دیتا ہے؟ کیا یہ کسی دوسری حقیقت، جو آپ جانتے ہو، کے مطابق ہے؟ اپنے جواب کی وجوہات پیش کریں۔

کمپیوٹر کا استعمال

کمپیوٹر اور مسئلہ گرین استعمال کر کے سوال ۱۵.۱۶۷ تا ۱۵.۱۷۰ میں میدان $\boldsymbol{F}$ کا خلاف گھڑی دائری بہاؤ سادہ بند منحنی C کے ہمراہ تلاش کریں۔ کمپیوٹر پر درج ذیل اقدام کریں۔

ا. مستوی xy میں C ترسیم کریں۔

ب. مسئلہ گرین کے گردشی روپ کے لئے متکمل $\frac{\partial N}{\partial x} - \frac{\partial M}{\partial y}$ تعین کریں۔

ج. دوہرا تکمل کی حدیں جزو الف کی ترسیم سے تعین کریں اور دائری بہاؤ کے گردشی تکمل کی قیمت حاصل کریں۔

سوال ۱۵.۱۶۷: $\boldsymbol{F} = (2x - y)\boldsymbol{i} + (x + 3y)\boldsymbol{j}$
ترخیم $x^2 + 4y^2 = 4$ منحنی C ہے۔

سوال ۱۵.۱۶۸: $\boldsymbol{F} = (2x^3 - y^3)\boldsymbol{i} + (x^3 + y^3)\boldsymbol{j}$
ترخیم $\frac{x^2}{4} + \frac{y^2}{9} = 1$ منحنی C ہے۔

سوال ۱۵.۱۶۹: $\boldsymbol{F} = x^{-1}e^y\boldsymbol{i} + (e^y \ln x + 2x)\boldsymbol{j}$
منحنیات $y = 1 + x^4$ اور $y = 2$ کے بیچ خطے کی سرحد C ہے۔

سوال ۱۵.۱۷۰: $\boldsymbol{F} = xe^y\boldsymbol{i} + 4x^2 \ln y\boldsymbol{j}$
مثلث جس کے راس $(0,0)$ ، $(2,0)$ ،اور $(0,4)$ ہیں منحنی C ہے۔

۱۵.۵ سطحی رقبہ اور سطحی تکملات

ہم مستوی میں خطہ پر تفاعل کا تکمل لینا جانتے ہیں لیکن ایسی صورت میں کیا ہو گا جب تفاعل ایک قوسی سطح پر پایا جاتا ہو؟ ایسی صورت میں تکمل کیسے حاصل ہو گا؟ ایسا تکمل، جو **سطحی تکمل**[۱۸] کہلاتا ہے، کی قیمت تلاش کرنے کی خاطر اس کو، سطح کے نیچے محددی مستوی پر (شکل ۱۵.۴۵)، دہرا تکمل کے روپ میں لکھا جاتا ہے۔ حصہ ۱۵.۷ اور حصہ ۱۵.۸ میں ہم دیکھیں گے کہ سطحی تکملات کی مدد سے مسئلہ گرین کو تین ابعاد میں عمومیت دی جا سکتی ہے۔

[۱۸] surfaceintegral

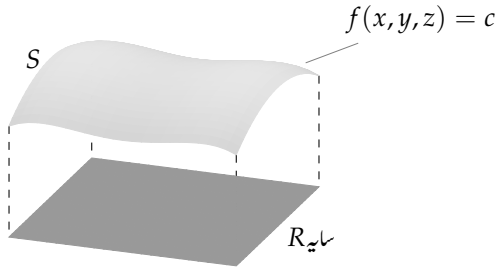

شکل ۱۵.۴۵: سطح S اور اس کے نیچے مستوی پر سطح کی تظلیل قائمہ R ۔آپ R کو مستوی پر S کا سایہ تصور کر سکتے ہو۔

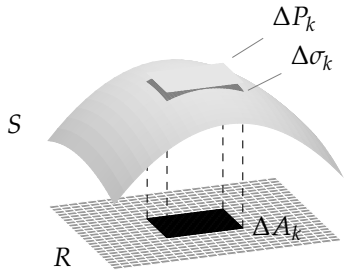

شکل ۱۵.۴۶: مماسی چادر ΔP_k تخمیناً رقبہ ΔA_k سے اوپر سطحی رقبہ $\Delta\sigma_k$ کو ظاہر کرتی ہے۔

سطحی رقبہ کی تعریف

شکل ۱۵.۴۶ میں سطح S اور نیچے محددی مستوی میں اس کا "سایہ" خطہ R دکھایا گیا ہے۔ سطح کی تعریف مساوات $f(x,y,c)=c$ دیتی ہے۔ اگر سطح **ہموار**[۱۹] ہو (∇f استراری ہے اور S پر کہیں بھی صفر نہیں ہے)، ہم اس کے رقبہ کی تعریف اور قیمت R پر دہرا تکمل کی صورت میں کر سکتے ہیں۔

ہم خطہ R کی خانہ بندی چھوٹے چھوٹے مستطیلوں ΔA_k میں ہم یوں کرتے ہیں جیسے R پر تکمل کی تعریف پیش کرنا چاہتے ہوں۔ یہ S کے رقبہ کی تعریف پیش کرنے کا کا پہلا قدم ہے۔ ہر ایک ΔA کے بالکل اوپر کچھ بلندی پر سطح $\Delta\sigma_k$ پایا جاتا ہے، جس کو ہم مماسی سطح کے چھوٹے حصہ ΔP_k سے تخمین دے سکتے ہیں۔ اس کی وضاحت کرتے ہیں۔ رقبہ ΔA_k کے اگلے بائیں کونے C_k کے بالکل اوپر نقطہ $T_k(x_k,y_k,z_k)$ پر سطح کے مماس کا ΔP_k ایک ٹکڑا ہے۔ اگر مماسی سطح R کا متوازی ہو، تب ΔP_k رقبہ ΔA_k کا موافق ہوگا۔ بصورت دیگر، یہ ایک مستطیل ہوگا جس کا رقبہ ΔA_k کے رقبہ سے کچھ زیادہ ہوگا۔

شکل ۱۵.۴۷ میں $\Delta\sigma_k$ اور ΔP_k بڑھا چڑھا کر پیش کیے گئے ہیں، جہاں T_k پر ڈھلوان سمتیہ $\nabla f(x_k,y_k,z_k)$ اور R کا عمودی اکائی سمتیہ $\boldsymbol{p}$ بھی دکھائے گئے ہیں۔ اس شکل میں ∇f اور $\boldsymbol{p}$ کے بیچ زاویہ γ_k بھی دکھایا گیا ہے۔ اس شکل میں دیگر سمتیات $\boldsymbol{u}_k$ اور $\boldsymbol{v}_k$ مماسی مستوی میں ΔP_k کے کناروں پر پائے جاتے ہیں۔ یوں $\boldsymbol{u}_k\times\boldsymbol{v}_k$ اور ∇f دونوں مماسی مستوی کو عمودی ہیں۔ سمتیہ $\boldsymbol{u}_k$ اور سمتیہ $\boldsymbol{v}_k$ دونوں سمتیہ $\nabla f(x_k,y_k)$ کو عمودی ہوں گے۔

---

[۱۹] smooth

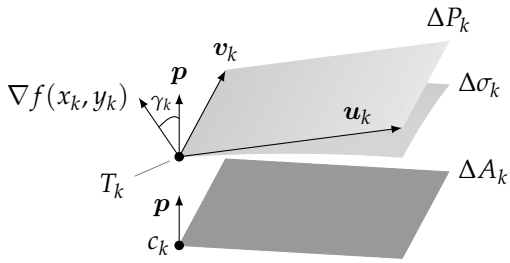

شکل ۱۵.۴۷: گزشتہ شکل کی تفصیل بڑی کر کے دکھائی گئی ہے۔ چونکہ سمتیہ $\boldsymbol{u}_k \times \boldsymbol{v}_k$ (جو شکل میں نہیں دکھایا گیا) اور سمتیہ ∇f دونوں سطح ΔP_k کو عمودی ہیں لہٰذا یہ آپس میں متوازی ہوں گے۔

اعلیٰ سمتی ہندسہ سے ہم جانتے ہیں کہ کسی بھی مستوی پر، جس کا عمود $\boldsymbol{p}$ ہو، ایسے مستطیل کی تظلیل کا رقبہ $|(\boldsymbol{u}_k \times \boldsymbol{v}_k) \cdot \boldsymbol{p}|$ ہو گا جس کو $\boldsymbol{u}_k$ اور $\boldsymbol{v}_k$ تعین کرتے ہوں۔ یوں درج ذیل لکھا جا سکتا ہے۔

$$|(\boldsymbol{u}_k \times \boldsymbol{v}_k) \cdot \boldsymbol{p}| = \Delta A_k \tag{۱}$$

اب سمتی ضرب کی ایک خاصیت (جو صلیبی ضرب کی ایک حقیقت ہے) یہ ہے کہ $|\boldsymbol{u}_k \times \boldsymbol{v}_k|$ رقبہ ΔP_k ہو گا، لہٰذا مساوات ۱ ذیل روپ

$$\underbrace{|\boldsymbol{u}_k \times \boldsymbol{v}_k|}_{\Delta P_k} \underbrace{|\boldsymbol{p}|}_{1} \underbrace{|\cos(\boldsymbol{u}_k \times \boldsymbol{v}_k \text{ اور } \boldsymbol{p} \text{ کے بیچ زاویہ})|}_{\substack{\text{چونکہ } \nabla f \text{ اور } \boldsymbol{u}_k \times \boldsymbol{v}_k \text{ دونوں مماسی مستوی کو} \\ \text{عمودی ہیں لہٰذا یہ } |\cos\gamma_k| \text{ کے برابر ہو گا}}} = \Delta A_k \tag{۲}$$

یا

$$\Delta P_k |\cos\gamma_k| = \Delta A_k$$

اختیار کرتی ہے جو $\cos\gamma_k \neq 0$ کی صورت میں ذیل لکھی جا سکتی ہے۔

$$\Delta P_k = \frac{\Delta A_k}{|\cos\gamma_k|}$$

جب تک ∇f زمینی مستوی کو متوازی نہ ہو اور $\nabla f \cdot \boldsymbol{p} \neq 0$ ہو $\cos\gamma_k \neq 0$ ہو گا۔

چونکہ، سطحی ٹکڑے $\Delta\sigma_k$ جو مل کر رقبہ S دیتے ہیں، کو ΔP_k تخمیناً ظاہر کرتے ہیں، لہٰذا مجموعہ

$$\sum \Delta P_k = \sum \frac{\Delta A_k}{|\cos\gamma_k|} \tag{۳}$$

سطحی رقبے S کا تخمین نظر آتا ہے۔ ہم یہ بھی دیکھ سکتے ہیں کہ خطہ R کو مزید چھوٹے خانوں میں تقسیم کرنے سے یہ تخمین بہتر ہو گی۔ درحقیقت، مساوات ۳ کے دائیں ہاتھ مجموعہ دوہرا تکمل

$$\iint_R \frac{1}{|\cos\gamma|}\,\mathrm{d}A \tag{۴}$$

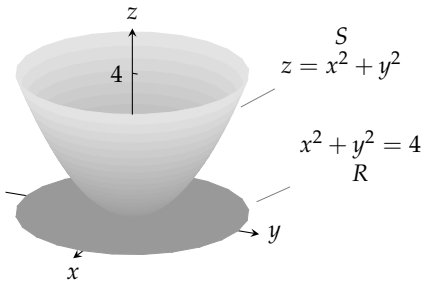

شکل ۱۵.۴۸: اس قطع مکافی سطح کا رقبہ مثال ۱۵.۲۰ میں حاصل کیا گیا ہے۔

۲۴۲۶۸ کے تخمینی مجموعے ہیں۔ یہی وجہ ہے کہ جب بھی یہ تکمل موجود ہو ہم اسے S کے **رقبہ**[۲۰] کی تعریف لیتے ہیں۔

۲۴۲۶۹ **عملی کلیہ**

۲۴۲۷۰ کسی بھی سطح $f(x,y,z) = c$ کے لیے $|\nabla f \cdot \boldsymbol{p}| = |\nabla f||\boldsymbol{p}||\cos\gamma|$ ہوگا، لہٰذا درج ذیل لکھا جا سکتا ہے، جہاں اکائی سمتیہ کی
۲۴۲۷۱ مطلق قیمت 1 ہے ($|\boldsymbol{p}| = 1$)۔

$$\frac{1}{|\cos\gamma|} = \frac{|\nabla f|}{|\nabla f \cdot \boldsymbol{p}|}$$

۲۴۲۷۲ اس کو مساوات ۴ کے ساتھ ملا کر رقبے کا عملی کلیہ حاصل ہوتا ہے۔

۲۴۲۷۳ **سطحی رقبے کا کلیہ**

۲۴۲۷۴ بند اور محدود مستوی میں خطہ R پر سطح $f(x,y,z) = c$ کا رقبہ ذیل ہوگا

$$\text{سطحی رقبہ} = \iint_R \frac{|\nabla f|}{|\nabla f \cdot \boldsymbol{p}|}\,\mathrm{d}A \tag{۵}$$

۲۴۲۷۵ جہاں $\boldsymbol{p}$ خطہ R کا اکائی عمودی سمتیہ ہے اور $\nabla f \cdot \boldsymbol{p} \neq 0$ ہے۔

۲۴۲۷۶ یوں ∇f کی قدر کو ∇f کے اس غیر سمتی عمودی جزو کی قدر سے تقسیم کر کے جو R کو عمودی ہو، خطہ R پر دوہرا تکمل لینے سے رقبہ حاصل ہوگا۔

۲۴۲۷۷ ہم نے ∇f کو استراری تصور کر کے اور پورے R پر $\nabla f \cdot \neq 0$ تصور کر کے مساوات ۵ حاصل کی۔ جب بھی یہ تکمل موجود ہو، اس کی قیمت کو سطح
۲۴۲۷۸ $f(x,y,z) = c$ کے اس حصہ کے رقبے کی تعریف لی جاتی ہے جو R کے اوپر (بلندی پر) پایا جاتا ہو۔

۲۴۲۷۹ مثال ۱۵.۲۰: قطع مکافی $x^2 + y^2 - z = 0$ کے نچلے حصے سے مستوی $z = 4$ ایک سطح کاٹتا ہے۔ اس سطح کا رقبہ تلاش کریں۔

---

[۲۰] area

۲۴۲۸۰ **حل:** ہم مستوی xy میں سطح S اور اس کے نیچے خطہ R کا خاکہ بناتے ہیں (شکل ۱۵.۴۸)۔ سطح S، ہم قد سطح $f(x,y,z) = x^2 + y^2 - z = 0$ کا حصہ ہے اور R، مستوی xy میں قرص $x^2 + y^2 \leq 4$ ہے۔ مستوی R کا اکائی عمودی سمتیہ $\boldsymbol{p} = \boldsymbol{k}$ ہے۔

۲۴۲۸۲ سطح پر کسی بھی نقطہ x, y, z پر ذیل ہو گا۔

$$\begin{aligned}
f(x,y,z) &= x^2 + y^2 - z \\
\nabla f &= 2x\boldsymbol{i} + 2y\boldsymbol{j} - \boldsymbol{k} \\
|\nabla f| &= \sqrt{(2x)^2 + (2y)^2 + (-1)^2} \\
&= \sqrt{4x^2 + 4y^2 + 1} \\
|\nabla f \cdot \boldsymbol{p}| &= |\nabla f \cdot \boldsymbol{k}| = |-1| = 1
\end{aligned}$$

۲۴۲۸۳ خطہ R میں $\mathrm{d}A = \mathrm{d}x\,\mathrm{d}y$ ہو گا، لہٰذا ذیل ہو گا۔

$$\begin{aligned}
\text{سطحی رقبہ} &= \iint_R \frac{|\nabla f|}{|\nabla f \cdot \boldsymbol{p}|}\,\mathrm{d}A && \text{(مساوات ۵)} \\
&= \iint_{x^2+y^2\leq 4} \sqrt{4x^2 + 4y^2 + 1}\,\mathrm{d}x\,\mathrm{d}y \\
&= \int_0^{2\pi}\int_0^2 \sqrt{4r^2+1}\,r\,\mathrm{d}r\,\mathrm{d}\theta && \text{(قطبی محدد)} \\
&= \int_0^{2\pi} \left[\frac{1}{12}(4r^2+1)^{\frac{3}{2}}\right]_0^2 \mathrm{d}\theta \\
&= \int_0^{2\pi} \frac{1}{12}(17^{\frac{3}{2}} - 1)\,\mathrm{d}\theta = \frac{\pi}{6}(17\sqrt{17} - 1)
\end{aligned}$$

۲۴۲۸۴ □

۲۴۲۸۵ مثال ۱۵.۲۱: نصف کرہ $x^2 + y^2 + z^2 = 2, z \geq 0$ سے بیلن $x^2 + y^2 = 1$ ایک ٹوپی کاٹتا ہے (شکل ۱۵.۴۹)۔ اس ٹوپی کا
۲۴۲۸۶ رقبہ تلاش کریں۔

۲۴۲۸۷ **حل:** ٹوپی S، ہم قد سطح $f(x,y,z) = x^2 + y^2 + z^2 = 2$ کا حصہ ہے۔ یہ ایک ایک مطابقت کے ساتھ مستوی xy میں قرص
۲۴۲۸۸ $R : x^2 + y^2 \leq 1$ پر تظلیل کرتا ہے۔ سمتیہ $\boldsymbol{p} = \boldsymbol{k}$ مستوی R کو عمودی ہے۔

۲۴۲۸۹ سطح میں کسی بھی نقطے پر ذیل ہو گا۔

$$\begin{aligned}
f(x,y,z) &= x^2 + y^2 + z^2 \\
\nabla f &= 2x\boldsymbol{i} + 2y\boldsymbol{j} + 2z\boldsymbol{k} \\
|\nabla f| &= 2\sqrt{x^2 + y^2 + z^2} = 2\sqrt{2} && \text{(چونکہ ٹوپی پر ہمیشہ } x^2 + y^2 + z^2 = 2 \text{ ہو گا)} \\
|\nabla f \cdot \boldsymbol{p}| &= |\nabla f \cdot \boldsymbol{k}| = |2z| = 2z
\end{aligned}$$

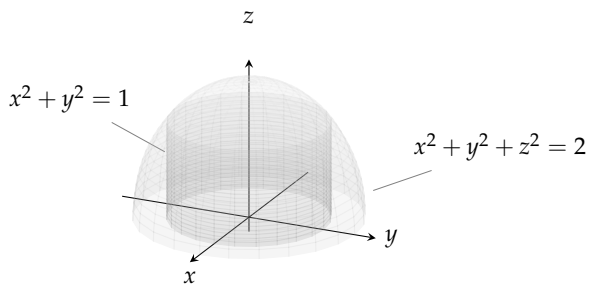

شکل ۱۵.۴۹: کرہ سے بیلن ٹوپی کاٹتا ہے (مثال ۱۵.۲۱)۔

۲۴۲۹۰ یوں ادرج ذیل حاصل ہو گا۔

$$\text{سطحی رقبہ} = \iint_R \frac{|\nabla f|}{|\nabla f \cdot \boldsymbol{p}|}\,\mathrm{d}A = \iint_R \frac{2\sqrt{2}}{2z}\,\mathrm{d}A = \sqrt{2}\iint_R \frac{\mathrm{d}A}{z} \tag{۶}$$

۲۴۲۹۱ یہاں z کا کیا کیا جائے؟

۲۴۲۹۲ چونکہ z کرہ کی سطح پر ایک نقطے کا z محدد ہے، لہٰذا اس کو ہم x اور y کی صورت میں لکھ سکتے ہیں۔

$$z = \sqrt{2 - x^2 - y^2}$$

۲۴۲۹۳ اس کو مساوات ۶ میں ڈالتے ہیں۔

$$\begin{aligned}
\text{سطحی رقبہ} &= \sqrt{2}\iint_R \frac{\mathrm{d}A}{z} = \sqrt{2}\iint_{x^2+y^2\le 1} \frac{\mathrm{d}A}{\sqrt{2-x^2-y^2}} \\
&= \sqrt{2}\int_0^{2\pi}\int_0^1 \frac{r\,\mathrm{d}r\,\mathrm{d}\theta}{\sqrt{2-r^2}} && \text{(قطبی محدد)} \\
&\sqrt{2}\int_0^{2\pi}\Big[-(2-r^2)^{\frac{1}{2}}\Big]_{r=0}^{r=1}\mathrm{d}\theta \\
&= \sqrt{2}\int_0^{2\pi}(\sqrt{2}-1)\,\mathrm{d}\theta = 2\pi(2-\sqrt{2})
\end{aligned}$$

۲۴۲۹۴ □

۲۴۲۹۵ **سطحی تکملات**

۲۴۲۹۶ سطحی رقبے کے حساب میں مستعمل تصورات بروئے کار لاتے ہوئے سطح پر تفاعل کے تکمل کا حصول سیکھتے ہیں۔

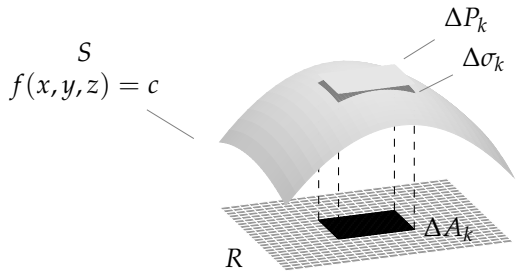

شکل ۱۵.۵۰: سطح پر کثافت بار جانتے ہوئے، سطحی تکمل میں ردوبدل کر کے، سطح پر کل بار دریافت کیا جا سکتا ہے۔

۲۴۲۹۷ فرض کریں، سطح $f(x,y,z)=c$ پر برقی بار تقسیم ہے (شکل ۱۵.۵۰) اور S کے ہر نقطہ پر تفاعل $g(x,y,z)$ بار فی اکائی رقبہ (کثافت بار) دیتا
۲۴۲۹۸ ہے۔ ایسی صورت میں S پر کل بار کا حساب تکمل کی صورت میں درج ذیل طریقے سے لکھا جا سکتا ہے۔

۲۴۲۹۹ ہم S کے نیچے، زمینی مستوی پر خطہ R کو چھوٹے چھوٹے مستطیلوں میں بالکل اسی طرح تقسیم کرتے ہیں جیسا S کا سطحی رقبہ تلاش کرنے کے لیے کیا جاتا
۲۴۳۰۰ ہے۔ ہر ایک ΔA_k کے بالکل اوپر کچھ بلندی پر سطح $\Delta\sigma_k$ پایا جاتا ہے، جس کو ہم مماسی مستوی پر مستطیلی ٹکڑا ΔP_k سے تخمین کرتے ہیں۔

۲۴۳۰۱ ہم سطحی رقبے کی تعریف کے طرز پر چل رہے ہیں، تاہم یہاں ایک اضافی قدم لیتے ہیں: ہم (x_k,y_k,z_k) پر g کی قیمت معلوم کر کے رقبہ $\Delta\sigma_k$ پر
۲۴۳۰۲ کل بار کو تخمیناً حاصل ضرب $g(x_k,y_k,z_k)\Delta P_k$ سے ظاہر کرتے ہیں۔ اس کی وجہ درج ذیل ہے: خطہ R کو کافی چھوٹے چھوٹے مستطیلوں میں
۲۴۳۰۳ تقسیم کرنے کی صورت میں پورے $\Delta\sigma_k$ پر g کی قیمت تقریباً مستقل ہو گی، اور ΔP_k تقریباً $\Delta\sigma_k$ کے کے برابر ہو گا۔ یوں S پر کل بار تخمیناً درج
۲۴۳۰۴ ذیل مجموعہ کے برابر ہو گا۔

$$\text{کل بار} = \approx \sum g(x_k,y_k,z_k)\Delta P_k = \sum g(x_k,y_k,z_k)\frac{\Delta A_k}{|\cos\gamma_k|} \tag{۷}$$

۲۴۳۰۵ اگر سطح S کو ظاہر کرنے والا تفاعل f اور اس کے یک رتبی جزوی تفرق استمراری ہوں، اور S پر g استمراری ہو، تب R کی خانہ بندی ہمیشہ کی طرح
۲۴۳۰۶ نفیس بنانے سے مساوات ۷ کے دائیں ہاتھ میں پیش مجموعے درج ذیل حد کو پہنچتے ہیں۔

$$\iint_R g(x,y,z)\frac{\mathrm{d}A}{|\cos\gamma|} = \iint g(x,y,z)\frac{|\nabla f|}{|\nabla f\cdot \boldsymbol{p}|}\,\mathrm{d}A \tag{۸}$$

۲۴۳۰۷ یہ حد سطح S پر g کا تکمل کہلاتا ہے، جس کو R پر دہرا تکمل لکھا اور حاصل کیا جاتا ہے۔ اس تکمل کی قیمت سطح S پر کل بار دے گی۔

۲۴۳۰۸ اگر مساوات ۸ کا تکمل موجود ہو، تب آپ توقع کر سکتے ہیں کہ مساوات ۸ کا کلیہ سطح S پر کسی بھی تفاعل g کے تکمل کی تعریف ہے۔

تعریفات

اگر سطح S، جس کی تعریف مساوات $f(x,y,z) = c$ دیتی ہے، کا سایہ R ہو اور S کے تمام نقطوں پر g استمراری تفاعل ہو، S پر g کا **تکمل** درج ذیل ہو گا:

$$\iint g(x,y,z)\frac{|\nabla f|}{|\nabla f\cdot \boldsymbol{p}|}\,\mathrm{d}A \tag{۹}$$

جہاں $\boldsymbol{p}$ سایہ دار خطہ R کا اکائی عمودی سمتیہ ہے اور $\nabla f\cdot \boldsymbol{p} \neq 0$ ہے۔ اس تکمل کو **سطحی تکمل**[۲۱] کہتے ہیں۔

مختلف عملی استعمال میں مساوات ۹ کا تکمل مختلف معنی رکھتا ہے۔ اگر g کی قیمت مستقل طور پر 1 ہو، تکمل S کا رقبہ دے گا۔ اگر g ایک باریک خول، جس کی شکل کا نمونہ S ہو، کی کمیتی کثافت ہو تب تکمل خول کی کمیت دے گا۔

الجبرائی خواص: سطحی رقبہ کی تفریق

ہم $\mathrm{d}A\,(|\nabla f|\,/\,|\nabla f\cdot \boldsymbol{p}|)$ کو $\mathrm{d}\sigma$ لکھ کر مساوات ۹ کا تکمل مختصراً (درج ذیل) لکھ سکتے ہیں۔

سطحی رقبہ کی تفریق اور سطحی تکملات کا تفریقی کلیہ

$$\iint_S g\,\mathrm{d}\sigma \qquad\qquad \mathrm{d}\sigma = \frac{|\nabla f|}{|\nabla f\cdot \boldsymbol{p}|}\,\mathrm{d}A \tag{۱۰}$$

سطحی تکملات کا تفریقی کلیہ — سطحی رقبے کی تفریق

سطحی تکملات دیگر دہرا تکملات کی طرح رویہ رکھتے ہیں: دو تفاعلات کا تکمل ان تفاعلات کے انفرادی تکملات کا مجموعہ ہو گا وغیرہ وغیرہ۔ دائرہ کار کی جمع پذیری خاصیت درج ذیل روپ اختیار کرتی ہے۔

$$\iint_S g\,\mathrm{d}\sigma = \iint_{S_1} g\,\mathrm{d}\sigma + \iint_{S_2} g\,\mathrm{d}\sigma + \cdots + \iint_{S_n} g\,\mathrm{d}\sigma$$

کلیدی تصور یہ ہے کہ اگر S کو ہموار منحنیات، متناہی تعداد کی غیر منطبق، ہموار قطعات میں خانہ بند کرتی ہوں (یعنی اگر S **ٹکڑوں میں ہموار**[۲۲] ہو) تب قطعات پر تکملات کا مجموعہ S پر تکمل کے برابر ہو گا۔ یوں، مکعب کی سطح پر تفاعل کا تکمل، مکعب کی چھ سطحوں پر تکملات کا مجموعہ ہو گا۔

مثال ۱۵.۲۲: ربع اول سے مستویات $x = 1$، $y = 1$، اور $z = 1$ ایک مکعب کاٹتی ہیں (شکل ۱۵.۵۱)۔ اس مکعب کی سطح پر $g(x,y,z) = xyz$ کا تکمل لیں۔

---

[۲۱] surfaceintegral
[۲۲] piecewisesmooth

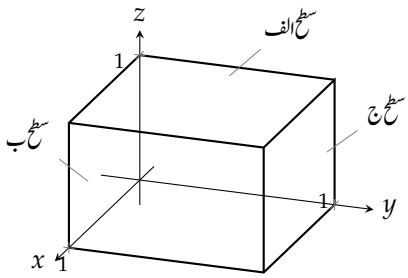

شکل ۱۵.۵۱: مکعب پر تفاعل کا تکمل حاصل کرنے کے لئے مکعب کے چھ اطراف پر تکمل لے کر نتائج جمع کریں (مثال ۱۵.۲۲)۔

۲۴۳۴ **حل:** ہم باری باری مکعب کی چھ سطحوں پر xyz کا تکمل لے کر تمام نتائج کا مجموعہ لیتے ہیں۔ محددی مستویات میں پائے جانے والے اطراف میں
۲۴۳۵ $xyz = 0$ ہو گا، لہٰذا مکعب کی سطح پر تکمل گھٹ کر درج ذیل صورت اختیار کرتا ہے۔

$$\iint_{\text{مکعبی سطح}} xyz \, \mathrm{d}\sigma = \iint_{\text{سطح الف}} xyz \, \mathrm{d}\sigma + \iint_{\text{سطح ب}} xyz \, \mathrm{d}\sigma + \iint_{\text{سطح ج}} xyz \, \mathrm{d}\sigma$$

۲۴۳۶ مستوی xy میں چوکور خطہ $R_{xy} : 0 \le x \le 1, 0 \le y \le 1$ پر سطح الف کی مساوات $f(x, y, z) = z = 1$ ہے۔ اس سطح
۲۴۳۷ اور خطہ کے لیے ذیل ہو گا۔

$$\begin{aligned}
&\boldsymbol{p} = \boldsymbol{k}, \quad \nabla f = \boldsymbol{k}, \quad \left|\nabla f\right| = 1, \quad \left|\nabla f \cdot \boldsymbol{p}\right| = \left|\boldsymbol{k} \cdot \boldsymbol{k}\right| = 1, \\
&\mathrm{d}\sigma = \frac{\left|\nabla f\right|}{\left|\nabla f \cdot \boldsymbol{p}\right|} \, \mathrm{d}A = \frac{1}{1} \, \mathrm{d}x \, \mathrm{d}y = \mathrm{d}x \, \mathrm{d}y, \\
&xyz = xy(1) = xy
\end{aligned}$$

۲۴۳۸ یوں ذیل ہو گا۔

$$\iint_{\text{سطح الف}} xyz \, \mathrm{d}\sigma = \iint_{R_{xy}} xy \, \mathrm{d}x \, \mathrm{d}y = \int_0^1 \int_0^1 xy \, \mathrm{d}x \, \mathrm{d}y = \int_0^1 \frac{y}{2} \, \mathrm{d}y = \frac{1}{4}$$

۲۴۳۹ تشاکلیت کی وجہ سے سطح ب اور ج پر xyz کے تکمل بھی $\frac{1}{4}$ دیں گے۔ یوں ذیل ہو گا۔

$$\iint_{\text{مکعبی سطح}} xyz \, \mathrm{d}\sigma = \frac{1}{4} + \frac{1}{4} + \frac{1}{4} = \frac{3}{4}$$

۲۴۴۰ □

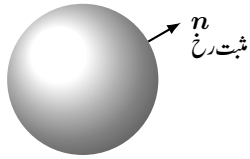

شکل ۱۵.۵۲: ہموار بند سطح ہمیشہ قابل سمت بند ہو گی۔ ہر نقطے پر باہر رخ اکائی عمودی سمتیہ مثبت رخ دیگا۔

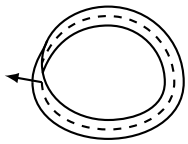

شکل ۱۵.۵۳: موبیوس پٹی ناقابل سمت بند ہے۔

سمت بندی

وہ ہموار سطح S ، جس پر عمودی اکائی سمتیات کا ایسا میدان $\boldsymbol{n}$ متعارف کیا جا سکتا ہو جو مقام کے ساتھ استمراری تبدیل ہو، **قابل سمت بند**[۲۳] یا **دو طرفہ**[۲۴] کہلاتی ہے۔ قابل سمت بند سطح کا ہر ذیلی ٹکڑا قابل سمت بند ہو گا۔ کرہ اور فضا میں دیگر بند سطحیں (ایسی ہموار سطحیں جو ٹھوس اجسام کو احاطہ کرتی ہوں) قابل سمت بند ہوں گی۔ روایتاً $\boldsymbol{n}$ کا رخ بند سطح سے باہر کی طرف رکھا جاتا ہے۔

میدان $\boldsymbol{n}$ منتخب کرنے کے بعد ہم کہتے ہیں سطح **سمت بند**[۲۵] بنائی گئی ہے اور سطح بشمول عمودی میدان **سمت بند سطح**[۲۶] کہلاتی ہے۔ کسی بھی نقطے پر سمتیہ $\boldsymbol{n}$ ، اس نقطے پر مثبت رخ کہلاتا ہے (شکل ۱۵.۵۲)۔

شکل ۱۵.۵۳ میں **موبیوس پٹی**[۲۷] دکھائے گئی ہے جو ناقابل سمت بند ہے۔ آپ کسی بھی نقطہ سے آغاز کر کے استمراری اکائی عمودی میدان بنانا شروع کریں۔ اکائی عمودی سمتیہ $\boldsymbol{n}$ کو سطح پر استمراری حرکت دینے سے آپ ابتدائی نقطے تک یوں پہنچ سکتے ہیں کہ $\boldsymbol{n}$ کا رخ ابتدائی رخ کا مخالف ہو۔ ایک نقطے پر سمتیہ بیک وقت دو مخالف رخ نہیں ہو سکتا، اگرچہ استمراری میدان کی صورت میں موبیوس پٹی پر ایسا ہی ہونا چاہیے۔ یوں ہم اخذ کرتے ہیں کہ ایسا میدان موجود نہیں ہو گا۔

بہاؤ کا سطحی تکمل

فرض کریں قابل سمت بند سطح S پر استمراری سمتی میدان $\boldsymbol{F}$ ہے، اور سطح پر منتخب اکائی عمودی میدان $\boldsymbol{n}$ ہے۔ ہم S پر $\boldsymbol{F}\cdot\boldsymbol{n}$ کے تکمل کو S پر مثبت رخ کا بہاؤ کہتے ہیں۔ یوں $\boldsymbol{n}$ کے رخ $\boldsymbol{F}$ کے غیر سمتی جزو کا S پر تکمل، سطح سے گزرتا بہاؤ دے گا۔

تعریف

قابل سمت بند سطح S کو پار کرتا، $\boldsymbol{n}$ کے رخ، تین ابعادی سمتی میدان $\boldsymbol{F}$ کا بہاؤ درج ذیل کلیہ دے گا۔

$$\text{بہاؤ} = \iint_S \boldsymbol{F}\cdot\boldsymbol{n}\,\mathrm{d}\sigma \tag{۱۱}$$

---

[۲۳] orientable
[۲۴] two-sided
[۲۵] oriented
[۲۶] orientedsurface
[۲۷] Mobiusband

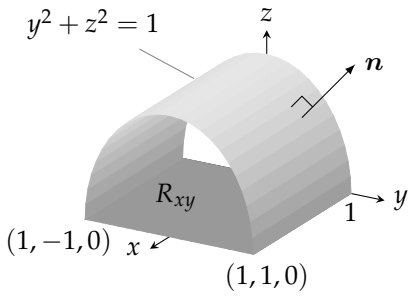

شکل ۱۵.۵۴: سطح سے باہر رخ سمتی میدان کا بہاؤ (مثال ۱۵.۲۳)۔ زمینی رقبہ R_{xy} دو (2) کے برابر ہے۔

۲۳۳۴۵ یہ تعریف مسطح منحنی C کو پار کرتے، دو ابعادی میدان $\boldsymbol{F}$ کے بہاؤ کی تعریف کے عین مطابق ہے۔ مستوی میں بہاؤ کو، منحنی C کو $\boldsymbol{F}$ کے عمودی غیر
۲۳۳۴۶ سمتی جزو کا تکمل:

$$\int_C \boldsymbol{F}\cdot\boldsymbol{n}\,\mathrm{d}s$$

۲۳۳۴۷ ظاہر کرتا ہے۔

۲۳۳۴۸ اگر $\boldsymbol{F}$ تین ابعادی سیالی بہاؤ کا سمتی رفتار میدان ہو، تب S سے (گزرتا) $\boldsymbol{F}$ کا بہاؤ، منتخب مثبت رخ میں S سے گزرتے سیال کی خالص شرح دے گا
۲۳۳۴۹ ۔ ایسے بہاؤ پر تفصیلاً تبصرہ حصہ ۱۵.۷ میں کیا جائے گا۔

۲۳۳۵۰ اگر S ہم قد سطح $g(x,y,z)=c$ کا حصہ ہو، تب $\boldsymbol{n}$ درج ذیل میں سے، جو پسند کا رخ دیتا ہو، ہو گا۔

$$\boldsymbol{n}=\pm\frac{\nabla g}{|\nabla g|} \tag{۱۲}$$

۲۳۳۵۱ مطابقتی بہاؤ ذیل ہو گا۔

$$\begin{aligned}
\text{بہاؤ} &= \iint_S \boldsymbol{F}\cdot\boldsymbol{n}\,\mathrm{d}\sigma && \text{مساوات ۱۱}\\
&= \iint_R \left(\boldsymbol{F}\cdot\frac{\pm\nabla g}{|\nabla g|}\right)\frac{|\nabla g|}{|\nabla g\cdot\boldsymbol{p}|}\,\mathrm{d}A && \text{مساوات ۱۰ اور ۱۲}\\
&= \iint_R \boldsymbol{F}\cdot\frac{\pm\nabla g}{|\nabla g\cdot\boldsymbol{p}|}\,\mathrm{d}A && (۱۳)
\end{aligned}$$

۲۳۳۵۲ مثال ۱۵.۲۳: بیلن $y^2+z^2=1, z\geq 0$ سے مستویات $x=0$ اور $x=1$ سطح S کاٹتی ہیں (شکل ۱۵.۵۴)۔ سطح S سے باہر
۲۳۳۵۳ رخ $\boldsymbol{F}=yz\boldsymbol{j}+z^2\boldsymbol{k}$ کا بہاؤ تلاش کریں۔

۲۴۳۵۴ **حل:** سطح S پر باہر روح عمودی میدان $\boldsymbol{n}$ کو $g(x,y,z) = y^2 + z^2$ کی ڈھلوان (ذیل دیکھیں) سے معلوم کیا جا سکتا ہے۔

$$\boldsymbol{n} = +\frac{\nabla g}{|\nabla g|} = \frac{2y\boldsymbol{j} + 2z\boldsymbol{k}}{\sqrt{4y^2 + 4z^2}} = \frac{2yaj + 2z\boldsymbol{k}}{2\sqrt{1}} = y\boldsymbol{j} + z\boldsymbol{k}$$

۲۴۳۵۵ چونکہ $\boldsymbol{p} = \boldsymbol{k}$ ہے لہٰذا درج ذیل بھی ہو گا۔

$$\mathrm{d}\sigma = \frac{|\nabla g|}{|\nabla g \cdot \boldsymbol{k}|}\,\mathrm{d}A = \frac{2}{|2z|}\,\mathrm{d}A = \frac{1}{z}\,\mathrm{d}A$$

۲۴۳۵۶ ہم $z \geq 0$ کی وجہ سے مطلق قیمت کی علامت ہٹا سکتے ہیں۔

۲۴۳۵۷ سطح پر $\boldsymbol{F} \cdot \boldsymbol{n}$ کی قیمت ذیل کلیہ دیگا، جہاں آخری قدم میں S پر $y^2 + z^2 = 1$ ہو گا۔

$$\begin{aligned}\boldsymbol{F} \cdot \boldsymbol{n} &= (yz\boldsymbol{j} + z^2\boldsymbol{k}) \cdot (y\boldsymbol{j} + z\boldsymbol{k}) \\ &= y^2z + z^3 = z(y^2 + z^2) \\ &= z\end{aligned}$$

۲۴۳۵۸ یوں S سے $\boldsymbol{F}$ کا اخراجی بہاؤ ذیل ہو گا۔

$$\iint_S \boldsymbol{F} \cdot \boldsymbol{n}\,\mathrm{d}\sigma = \iint_S (z)\left(\frac{1}{z}\,\mathrm{d}A\right) = \iint_{R_{xy}} \mathrm{d}A = \text{کا رقبہ } R_{xy} = 2$$

۲۴۳۵۹ □

۲۴۳۶۰ **باریک خول کی کمیت اور معیار اثر**

۲۴۳۶۱ گھریلو برتن، ڈھول، اور دیگر باریک خول کو سطحوں سے ظاہر کیا جا سکتا ہے۔ ان کی کمیت اور معیار اثر جدول ۱۵.۳ میں پیش کلیات سے حاصل کی جا سکتی ہیں۔

۲۴۳۶۲ مثال ۱۵.۲۴: رداس a اور مستقل کثافت δ کے باریک نصف کروی خول کا مرکز کمیت تلاش کریں۔

۲۴۳۶۳ **حل:** ہم خول کو نصف کرہ:

$$f(x,y,z) = x^2 + y^2 + z^2 = a^2, \quad z \geq 0$$

۲۴۳۶۴ سے ظاہر کرتے ہیں (شکل ۱۵.۵۵)۔ محور z کے لحاظ سے سطح کی تشاکلی کی وجہ سے $\overline{x} = \overline{y} = 0$ ہو گا۔ کلیہ $\overline{z} = M_{xy}/M$ سے $\overline{z}$ تلاش
۲۴۳۶۵ کرنا باقی ہے۔

۲۴۳۶۶ خول کی کمیت درج ذیل ہے۔

$$M = \iint_S \delta\,\mathrm{d}\sigma = \delta \iint_S \mathrm{d}\sigma = (\delta)(\text{کا رقبہ}, S) = 2\pi a^2\delta$$

جدول ۱۵.۳: نہایت باریک خول کی کمیت اور معیار اثر

کمیت	$M = \iint_S \delta(x,y,z)\,\mathrm{d}\sigma$ نقطہ (x,y,z) پر $\delta(x,y,z)$ کثافت (کمیت فی اکائی رقبہ) ہے
محددی مستویات کے لحاظ سے اول معیار اثر	$M_{yz} = \iint_S x\delta\,\mathrm{d}\sigma, \qquad M_{xz} = \iint_S y\delta\,\mathrm{d}\sigma, \qquad M_{xy} = \iint_S z\delta\,\mathrm{d}\sigma$
مرکز کمیت کے محدد	$\overline{x} = M_{yz}/M, \qquad \overline{y} = M_{xz}/M, \qquad \overline{z} = M_{xy}/M$
جمودی معیار اثر	$I_x = \iint_S (y^2+z^2)\delta\,\mathrm{d}\sigma, \qquad I_y = \iint_S (x^2+z^2)\delta\,\mathrm{d}\sigma$ $I_z = \iint_S (x^2+y^2)\delta\,\mathrm{d}\sigma, \qquad I_L = \iint_S r^2\delta\,\mathrm{d}\sigma$ نقطہ (x,y,z) سے لکیر L کا فاصلہ $r(x,y,z)$ ہے
لکیر L کے لحاظ سے ردائی دوار	$R_L = \sqrt{I_L/M}$

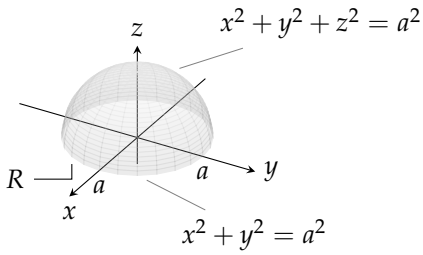

شکل ۱۵.۵۵: مستقل کمیتی کثافت کی باریک چادر کا نصف کروی خول (مثال ۱۵.۲۴)۔

۲۴۳۶۷ M_{xy} کا تکمل تلاش کرنے کی خاطر $\boldsymbol{p} = \boldsymbol{k}$ لیتے ہیں۔ یوں،

$$M_{xy} = \iint_S z\delta \, \mathrm{d}\sigma = \delta \iint_R z\frac{a}{z} \, \mathrm{d}\sigma = \delta a \iint_R \mathrm{d}A = \delta a(\pi a^2) = \delta \pi a^3$$

۲۴۳۶۸ لہٰذا ذیل ہو گا۔

$$\overline{z} = \frac{M_{xy}}{M} = \frac{\pi a^3 \delta}{2\pi a^2 \delta} = \frac{a}{2}$$

۲۴۳۶۹ خول کا مرکز کمیت نقطہ $(0, 0, a/2)$ پر ہو گا۔ □

۲۴۳۷۰ **سوالات**

۲۴۳۷۱

۲۴۳۷۲ **سطحی رقبہ**

۲۴۳۷۳ سوال ۱۵.۱۷۱: مکانی جسم $x^2 + y^2 - z = 0$ سے مستوی $z = 2$ جو سطح کاٹتی ہے اس کا رقبہ تلاش کریں۔

۲۴۳۷۴ سوال ۱۵.۱۷۲: مکانی جسم $x^2 + y^2 - z = 0$ سے مستویات $z = 2$ اور $z = 6$ جو پٹی کاٹتی ہے اس کا رقبہ تلاش کریں۔

۲۴۳۷۵ سوال ۱۵.۱۷۳: مستوی $x + 2y + 2z = 5$ سے ایک بیلن، جس کی دیواریں $x = y^2$ اور $x = 2 - y^2$ ہیں، جو خطہ کاٹتا ہے اس
۲۴۳۷۶ کا رقبہ تلاش کریں۔

۲۴۳۷۷ سوال ۱۵.۱۷۴: سطح $x^2 - 2z = 0$ کے اس حصے کا رقبہ تلاش کریں جو مستوی xy میں واقع اس مثلث کے اوپر پایا جاتا ہے جس کو لکیر $x =$
۲۴۳۷۸ $\sqrt{3}$ ، $y = 0$ ، اور $y = x$ گھیرتی ہیں۔

۲۴۳۷۹ سوال ۱۵.۱۷۵: سطح $x^2 - 2y - 2z = 0$ کے اس حصے کا رقبہ تلاش کریں جو مستوی xy میں واقع اس مثلث کے اوپر پایا جاتا ہے جس کو لکیر
۲۴۳۸۰ x=2 ، $y = 0$ ، اور $y = 3x$ گھیرتی ہیں۔

۲۴۳۸۱ سوال ۱۵.۱۷۶: کرہ $x^2 + y^2 + z^2 = 2$ سے مخروط $z = \sqrt{x^2 + y^2}$ جو ٹوپی کاٹتا ہے اس کا رقبہ تلاش کریں۔

۲۴۳۸۲ سوال ۱۵.۱۷۷: مستوی $z = cx$ سے بیلن $x^2 + y^2 = 1$ جو ترخیم کاٹتا ہے اس کا رقبہ تلاش کریں۔

۲۴۳۸۳ سوال ۱۵.۱۷۸: بیلن $x^2 + z^2 = 1$ کے اس بالائی حصے کا رقبہ تلاش کریں جو مستویات $x = \pm 1/2$ اور $y = \pm 1/2$ کے بیچ پایا جاتا
۲۴۳۸۴ ہے۔

۲۴۳۸۵ سوال ۱۵.۱۷۹: مستوی yz میں واقع چھلا $1 \leq y^2 + z^2 \leq 4$ کے اوپر مکانی جسم $x = 4 - y^2 - z^2$ کا جو حصہ پایا جاتا ہے اس کا
۲۴۳۸۶ رقبہ تلاش کریں۔

۲۴۳۸۷ سوال ۱۵.۱۸۰: مکانی سطح $x^2 + y + z^2 = 2$ سے مستوی $y = 0$ جو سطح کاٹتی ہے اس کا رقبہ تلاش کریں۔

سوال ۱۵.۱۸۱: مستوی xy میں واقع مربع $R:\ 1 \le x \le 2,\ 0 \le y \le 1$ کے اوپر سطح $x^2 - 2\ln x + \sqrt{15}y - z = 0$ کا جو حصہ پایا جاتا ہے اس کا رقبہ تلاش کریں۔

سوال ۱۵.۱۸۲: مستوی xy میں واقع مربع $R:\ 0 \le x \le 1,\ 0 \le y \le 1$ کے اوپر سطح $2x^{3/2} + 2y^{3/2} - 3z = 0$ کا جو حصہ پایا جاتا ہے اس کا رقبہ تلاش کریں۔

سطحی تکملات

سوال ۱۵.۱۸۳: ثمن اول سے مستویات $x = a$ ، $y = a$ ، اور $z = a$ جو مکعب کاٹتی ہیں اس کی سطح پر $g(x,y,z) = x + y + z$ کا تکمل حاصل کریں۔

سوال ۱۵.۱۸۴: ثمن اول سے محددی مستویات اور مستویات $x = 2$ اور $y + z = 1$ جو بیچر کاٹتی ہیں اس کی سطح پر $g(x,y,z) = y + z$ کا تکمل حاصل کریں۔

سوال ۱۵.۱۸۵: ثمن اول سے مستویات $x = a$ ، $y = b$ ، اور $z = c$ جو مستطیلی ٹھوس جسم کاٹتی ہیں اس کی سطح پر $g(x,y,z) = xyz$ کا تکمل لیں۔

سوال ۱۵.۱۸۶: مستویات $x = \pm a$ ، $y = \pm b$ ، اور $z = \pm c$ جو مستطیلی ٹھوس جسم گھیرتی ہیں اس کی سطح پر $g(x,y,z) = xyz$ کا تکمل لیں۔

سوال ۱۵.۱۸۷: تفاعل $g(x,y,z) = x + y + z$ کا تکمل ثمن اول میں واقع مستوی $2x + 2y + z = 2$ کے ٹکڑے پر حاصل کریں۔

سوال ۱۵.۱۸۸: تفاعل $g(x,y,z) = x\sqrt{y^2+4}$ کا تکمل اس سطح پر لیں جو مستویات $x = 0$ ، $x = 1$ ، اور $z = 0$ مکافی بیلن $y^2 + 4z = 16$ سے کاٹتی ہیں۔

سطح سے گزرنے والا بہاؤ

سطح S سے میدان $\boldsymbol{F}$ کا گزرنے والا بہاؤ سوال ۱۵.۱۸۹ اور سوال ۱۵.۱۹۰ میں تلاش کریں۔

سوال ۱۵.۱۸۹: $\boldsymbol{F}(x,y,z) = -\boldsymbol{i} + 2\boldsymbol{j} + 3\boldsymbol{k}$
مستطیل سطح $z = 0,\ 0 \le x \le 2,\ 0 \le y \le 3$ جس کا رخ $\boldsymbol{k}$ ہے سطح S ہے۔

سوال ۱۵.۱۹۰: $\boldsymbol{F}(x,y,z) = yx^2\boldsymbol{i} - 2\boldsymbol{j} + xz\boldsymbol{k}$
مستطیل سطح $y = 0,\ -1 \le x \le 2,\ 2 \le z \le 7$ جس کا رخ $-\boldsymbol{j}$ ہے سطح S ہے۔

ثمن اول میں کرہ $x^2 + y^2 + z^2 = a^2$ کے ٹکڑے سے، جس کا رخ مبدا سے دوری کی جانب ہے، میدان $\boldsymbol{F}$ کا گزرنے والا بہاؤ سوال ۱۵.۱۹۱ تا ۱۵.۱۹۶ میں تلاش کریں۔

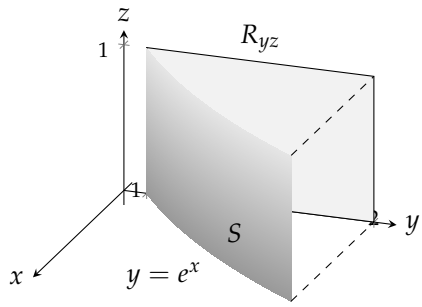

شکل ۱۵.۵۶: سطح اور خطہ برائے سوال ۱۵.۱۹۹

سوال ۱۵.۱۹۱: $\boldsymbol{F}(x, y, z) = z\boldsymbol{k}$

سوال ۱۵.۱۹۲: $\boldsymbol{F}(x, y, z) = -y\boldsymbol{i} + x\boldsymbol{j}$

سوال ۱۵.۱۹۳: $\boldsymbol{F}(x, y, z) = y\boldsymbol{i} - x\boldsymbol{j} + \boldsymbol{k}$

سوال ۱۵.۱۹۴: $\boldsymbol{F}(x, y, z) = zx\boldsymbol{i} + zy\boldsymbol{j} + z^2\boldsymbol{k}$

سوال ۱۵.۱۹۵: $\boldsymbol{F}(x, y, z) = x\boldsymbol{i} + y\boldsymbol{j} + z\boldsymbol{k}$

سوال ۱۵.۱۹۶: $\boldsymbol{F}(x, y, z) = \frac{x\boldsymbol{i}+y\boldsymbol{j}+z\boldsymbol{k}}{\sqrt{x^2+y^2+z^2}}$

سوال ۱۵.۱۹۷: قطع مکافی بیلن $z = 4 - y^2$ سے مستویات $x = 0$ ، $x = 1$ ،اور $z = 0$ جو سطح کاٹتی ہیں اس سے اوپر رخ گزرتا بہاؤ میدان $\boldsymbol{F}(x, y, z) = z^2\boldsymbol{i} + x\boldsymbol{j} - 3z\boldsymbol{k}$ کے لئے تلاش کریں۔

سوال ۱۵.۱۹۸: مکافی سطح $z = x^2 + y^2$ کے نچلے حصے سے مستوی $z = 1$ جو سطح کاٹتی ہے اس سے باہر رخ (محور z سے دور جانب) گزرتا بہاؤ میدان $\boldsymbol{F}(x, y, z) = 4x\boldsymbol{i} + 4y\boldsymbol{j} + 2\boldsymbol{k}$ کے لئے تلاش کریں۔

سوال ۱۵.۱۹۹: فرض کریں ثمن اول میں بیلن $y = e^x$ کا ٹکڑا S مستوی yz میں واقع مستطیل $R_{yz} : 1 \leq y \leq 2, 0 \leq z \leq 1$ پر محور x کے متوازی سایہ ڈالتا ہے (شکل ۱۵.۵۶)۔ فرض کریں S کے اکائی عمودی سمتیہ $\boldsymbol{n}$ کا رخ مستوی yz سے دور جانب ہے۔ سطح S سے $\boldsymbol{n}$ کے رخ گزرنے والا بہاؤ میدان $\boldsymbol{F}(x, y, z) = -2\boldsymbol{i} + 2y\boldsymbol{j} + z\boldsymbol{k}$ کے لئے تلاش کریں۔

سوال ۱۵.۲۰۰: ثمن اول میں بیلن $y = \ln x$ کا ٹکڑا سطح S ، مستوی xz پر محور y کے متوازی مستطیل سایہ $R_{xz} : 1 \leq x \leq e, 0 \leq z \leq 1$ ڈالتا ہے۔ سطح S کے اکائی عمودی سمتیہ $\boldsymbol{n}$ کا رخ مستوی xz سے دور جانب ہے۔ میدان $\boldsymbol{F} = 2y\boldsymbol{j} + z\boldsymbol{k}$ کا $\boldsymbol{n}$ کے رخ S سے گزرتا بہاؤ تلاش کریں۔

سوال ۱۵.۲۰۱: ثمن اول سے مستویات $x = a$ ، $y = a$ ،اور $z = a$ مکعب کاٹتی ہیں۔ مکعب کی سطح سے باہر رخ میدان $\boldsymbol{F} = 2xy\boldsymbol{i} + 2yz\boldsymbol{j} + 2xz\boldsymbol{k}$ کا بہاؤ تلاش کریں۔

سوال ۱۵.۲۰۲: کرہ $x^2 + y^2 + z^2 \leq 25$ سے مستوی $z = 3$ بالائی ٹوپی کاٹتا ہے۔ میدان $\boldsymbol{F} = xz\boldsymbol{i} + yz\boldsymbol{j} + \boldsymbol{k}$ کا بہاؤ اس ٹوپی سے باہر رخ تلاش کریں۔

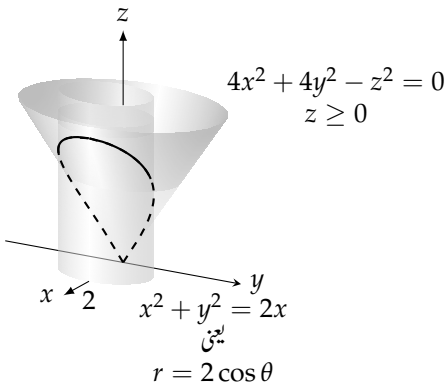

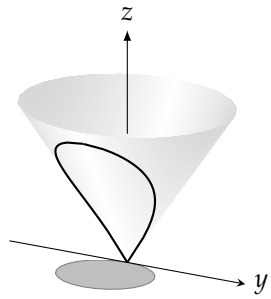

شکل ۱۵.۵۷: سطح برائے سوال ۱۵.۲۰۵

۲۴۴۳۶

۲۴۴۳۷ **معیار اثر اور کمیت**

۲۴۴۳۸ سوال ۱۵.۲۰۳: کرہ $x^2 + y^2 + z^2 = a^2$ کے اس حصہ کا، جو ثمن اول میں پایا جاتا ہے، وسطانی مرکز تلاش کریں۔

۲۴۴۳۹ سوال ۱۵.۲۰۴: بیلن $y^2 + z^2 = 9, z \geq 0$ سے مستویات $x = 0$ اور $x = 3$ جو سطح کاٹتی ہیں (یہ مثال ۱۵.۲۳ کی سطح سے
۲۴۴۴۰ مشابہت رکھتی ہے) اس کا وسطانی مرکز تلاش کریں۔

۲۴۴۴۱ سوال ۱۵.۲۰۵: مستقل کثافت δ کے مخروط $x^2 + y^2 - z^2 = 0$ سے مستویات $z = 1$ اور $z = 2$ جو باریک خول کاٹتی ہیں اس
۲۴۴۴۲ کا مرکز کمیت، اور محور z کے لحاظ سے جمودی معیار اثر اور رداس دوار تلاش کریں۔

۲۴۴۴۳ سوال ۱۵.۲۰۶: مستقل کثافت δ کے مخروط $4x^2 + 4y^2 - z^2, z \geq 0$ سے دائری بیلن $x^2 + y^2 = 2x$ جو باریک خول
۲۴۴۴۴ (شکل ۱۵.۵۷) کاٹتا ہے اس کا محور z کے لحاظ سے جمودی معیار اثر تلاش کریں۔

۲۴۴۴۵ سوال ۱۵.۲۰۷:

۲۴۴۴۶ ا. مستقل کثافت δ اور رداس a کے باریک کروی خول کا جمودی معیار اثر قطر کے لحاظ سے تلاش کریں۔ (نصف کرہ کے لئے نتیجہ حاصل کر کے دگنا
۲۴۴۴۷ کریں۔)

۲۴۴۴۸ ب. مسئلہ متوازی محور (سوالات ۱۴.۵) اور جزوالف کا نتیجہ استعمال کر کے خول کے مماسی لکیر کے لحاظ سے خول کا جمودی معیار اثر تلاش کریں۔

۲۴۴۴۹ سوال ۱۵.۲۰۸:

۲۴۴۵۰ ا. ٹھوس مخروط کا قد h اور رداس a ہے۔ مخروط کی جانبی سطح (تل شامل نہیں) کا وسطانی مرکز تلاش کریں۔

۲۴۴۵۱ ب. کلیہ پاپس (سوالات ۱۴.۵) اور جزوالف کا نتیجہ استعمال کر کے مخروط کی مکمل سطح (جانبی سطح اور تل دونوں شامل) کا وسطانی مرکز تلاش کریں۔

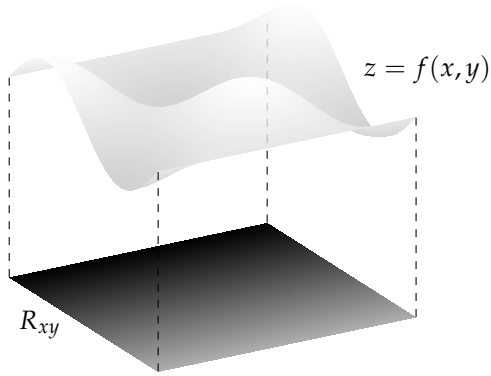

شکل ۱۵.۵۸: سطح $z = f(x, y)$ کے لئے سطح کا رقبہ کلیہ $A = \iint_{R_{xy}} \sqrt{f_x^2 + f_y^2 + 1}\, \mathrm{d}x\, \mathrm{d}y$ دے گا۔

ج. رداس a اور قد h کے مخروط کو رداس a کے نصف کرہ کے ساتھ جوڑنے سے سطح S بنتی ہے جو آئس کریم کے مخروط سے مشابہ ہے۔ کلیہ پاپس اور جزوالف کا نتیجہ استعمال کر کے S کا وسطانی مرکز تلاش کریں۔ وسطانی مرکز کو مخروط اور نصف کرہ کے ملاپ کی سطح پر ہونے کے لئے مخروط کا قد کتنا ہونا ہو گا؟

سطحی رقبوں کے خصوصی کلیے

اگر مستوی xy میں واقع پورے خطہ R_{xy} میں سطح S کو تفاعل $z = f(x, y)$ معین کرتا ہو، جس کے یک رتبی تفرق استمراری ہوں (شکل ۱۵.۵۸)، تب سطح S تفاعل $F(x, y, z) = f(x, y) - z$ کی ہم قد سطح $F(x, y, z) = 0$ بھی ہو گی۔ خطہ R_{xy} کا عمودی اکائی سمتیہ $\boldsymbol{p} = \boldsymbol{k}$ لیتے ہوئے ذیل ہو گا۔

$$
\begin{aligned}
|\nabla F| &= |f_x \boldsymbol{i} + f_y \boldsymbol{j} - \boldsymbol{k}| = \sqrt{f_x^2 + f_y^2 + 1}, \\
|\nabla F \cdot \boldsymbol{p}| &= |(f_x \boldsymbol{i} + f_y \boldsymbol{j} - \boldsymbol{k}) \cdot \boldsymbol{k}| = |-1| = 1 \\
A &= \iint_{R_{xy}} \frac{|\nabla F|}{|\nabla F \cdot \boldsymbol{p}|}\, \mathrm{d}A = \iint_{R_{xy}} \sqrt{f_x^2 + f_y^2 + 1}\, \mathrm{d}x\, \mathrm{d}y
\end{aligned}
\tag{۱۴}
$$

اسی طرح مستوی yz میں واقع خطہ R_{yz} پر ہموار سطح $x = f(y, z)$ کا رقبہ ذیل

$$
A = \iint_{R_{yz}} \sqrt{f_y^2 + f_z^2 + 1}\, \mathrm{d}y\, \mathrm{d}z \tag{۱۵}
$$

۲۴۴۶۱ اور مستوی xz میں واقع خطہ R_{xz} پر ہموار سطح $y = f(x,z)$ کا رقبہ ذیل ہوگا۔

$$A = \iint_{R_{xz}} \sqrt{f_x^2 + f_z^2 + 1}\,\mathrm{d}x\,\mathrm{d}z \tag{۱۶}$$

۲۴۴۶۲ مساوات ۱۴ تا ۱۶ استعمال کر کے سوال ۱۵.۲۰۹ تا ۱۵.۲۱۴ میں رقبے تلاش کریں۔

۲۴۴۶۳ سوال ۱۵.۲۰۹: مکافی سطح $z = x^2 + y^2$ کے زیریں حصے سے مستوی $z = 3$ جو سطح کاٹتا ہے۔

۲۴۴۶۴ سوال ۱۵.۲۱۰: مکفی سطح $x = 1 - y^2 - z^2$ کی نوک سے مستوی yz جو سطح کاٹتا ہے۔

۲۴۴۶۵ سوال ۱۵.۲۱۱: مستوی xy میں دائرہ $x^2 + y^2 = 1$ اور ترخیم $z = 9x^2 + 4y^2 = 36$ کے بیچ خطے کے اوپر مخروط
۲۴۴۶۶ $\sqrt{x^2 + y^2}$ کا ٹکڑا۔ (اشارہ: ہندسہ کے کلیات استعمال کر کے خطے کا رقبہ تلاش کریں۔)

۲۴۴۶۷ سوال ۱۵.۲۱۲: مستوی $2x + 6y + 3z = 6$ سے ثمن اول کے مستویات جو مثلث کاٹتی ہیں۔ باری باری ایک کلیہ استعمال کر کے رقبہ تین
۲۴۴۶۸ مختلف طریقوں سے تلاش کریں۔

۲۴۴۶۹ سوال ۱۵.۲۱۳: ثمن اول میں بیلن $y = (2/3)z^{3/2}$ سے مستویات $x = 1$ اور $y = 16/3$ جو سطح کاٹتی ہیں۔

۲۴۴۷۰ سوال ۱۵.۲۱۴: مستوی xz کے ربع اول سے مکافی $x = 4 - z^2$ جو خطہ کاٹتا ہے اس کے اوپر مستوی $y + z = 4$ کا ٹکڑا۔

۲۴۴۷۱

۲۴۴۷۲

۲۴۴۷۳ ۱۵.۶ مقدار معلوم سطحیں

۲۴۴۷۴ ہم مستوی میں منحنیات کو ذیل تین مختلف طریقوں سے بیان کر چکے ہیں۔

صریح روپ	$y = f(x)$
خفی روپ	$F(x,y) = 0$
مقدار معلوم سمتیہ روپ	$\boldsymbol{r}(t) = f(t)\boldsymbol{i} + g(t)\boldsymbol{j}, \qquad a \le t \le b$

۲۴۴۷۵ فضا میں سطوح کی بھی ایسی تعریفیں موجود ہیں۔

صریح روپ	$z = f(x,y)$
خفی روپ	$F(x,y,z) = 0$

۲۴۴۷۶ ایک مقدار معلوم روپ بھی پایا جاتا ہے جس میں سطح پر نقطے کا مقام دو متغیرات کا سمتی تفاعل دیتا ہے۔ اس حصے میں سطحی رقبے اور سطحی تکملات کے مطالعہ کو ان
۲۴۴۷۷ سطحوں تک وسعت دی جائے گی جنہیں مقدار معلوم روپ میں بیان کیا گیا ہو۔

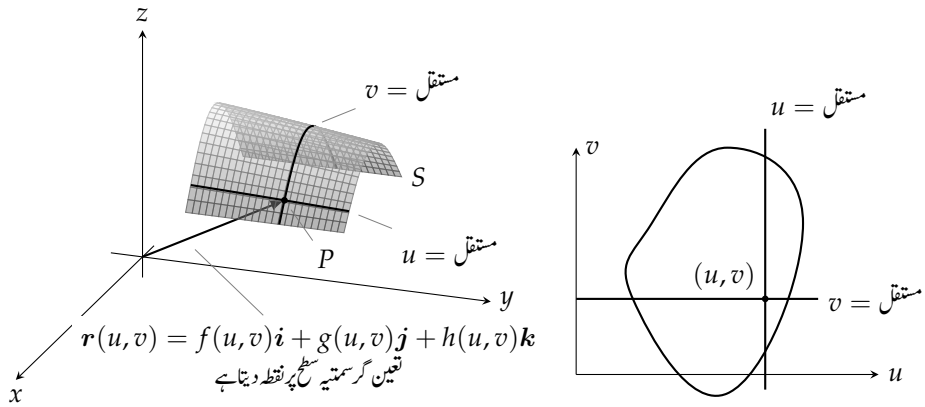

شکل ۱۵.۵۹: خطہ R پر دو متغیر کا سمتیہ تفاعل سطح S کا مقدار معلوم روپ دیتا ہے۔

سطحوں کی مقدار معلوم نمائندگی

فرض کریں استمراری سمتی تفاعل جو مستوی uv کے خطہ R پر معین اور R کے اندرونی حصے میں ایک ایک مطابقت رکھتا ہے (شکل ۱۵.۵۹) کو درج ذیل مساوات ظاہر کرتی ہے۔

$$\boldsymbol{r}(u,v) = f(u,v)\boldsymbol{i} + g(u,v)\boldsymbol{j} + h(u,v)\boldsymbol{k} \tag{1}$$

ہم $\boldsymbol{r}$ کے دائرہ کار کو **سطح** S کہتے ہیں جس کی تعریف یا نقشہ کشی $\boldsymbol{r}$ کے ذریعہ کی جاتی ہے۔ مساوات ۱ اور R کا دائرہ کار مل کر سطح کا **مقدار معلوم روپ**[۲۸] دیتے ہیں۔ متغیرات u اور v **مقدار معلوم**[۲۹] کہلاتے ہیں جبکہ R کو **مقدار معلوم کا دائرہ کار**[۳۰] کہا جاتا ہے۔ مباحثہ سادہ رکھنے کی خاطر ہم فرض کرتے ہیں کہ R مستطیل خطہ ہے جس کو عدم مساوات $a \leq u \leq b,\ c \leq v \leq d$ تعین کرتی ہیں۔ یہ شرط مسلط کرنے سے کہ R کے اندرون میں $\boldsymbol{r}$ ایک ایک مطابقت رکھتا ہو، یقینی بناتا ہے کہ سطح S خود کو قطع نہیں کرتی۔ دھیان رہے کہ مساوات ادرج ذیل تین مقدار معلوم مساوات کی سمتی معادل ہے۔

$$x = f(u,v), \qquad y = g(u,v), \qquad z = h(u,v)$$

مثال ۱۵.۲۵: **مخروط کا مقدار معلوم روپ**

درج ذیل مخروط کا مقدار معلوم روپ حاصل کریں۔

$$z = \sqrt{x^2+y^2}, \qquad 0 \leq z \leq 1$$

حل: یہاں نلکی محدد استعمال کرنا بہتر ہے۔ مخروط پر عمومی نقطہ (x,y,z) (شکل ۱۵.۶۰) کے لیے $x = r\cos\phi$ ، $y = r\sin\phi$ ،

parametricform[۲۸]
parameters[۲۹]
parameterdomain[۳۰]

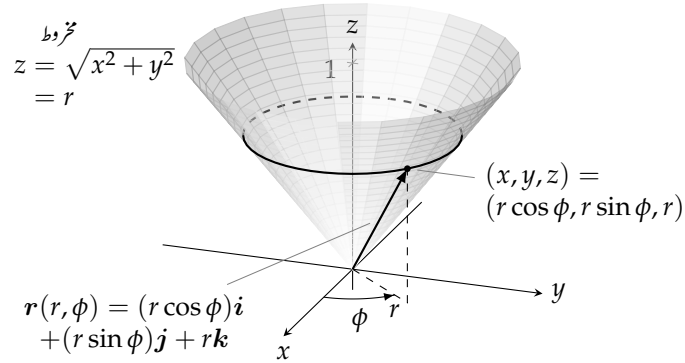

شکل ۱۵.۶۰: نلکی محدد میں مثال ۱۵.۲۵ کے مخروط کا مقدار معلوم روپ۔

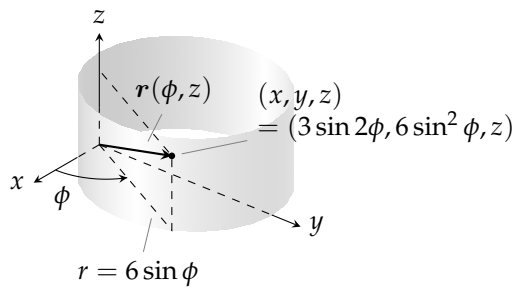

شکل ۱۵.۶۲: نلکی محدد استعمال میں مثال ۱۵.۲۷ کے بیلن کا مقدار معلوم روپ۔

$$(x, y, z) = (a\sin\theta\cos\phi, a\sin\theta\sin\phi, a\cos\theta)$$

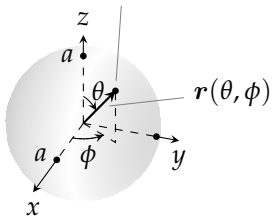

شکل ۱۵.۶۱: کروی محدد استعمال میں مثال ۱۵.۲۶ کے کرہ کا مقدار معلوم روپ۔

۲۳۳۸۹ $z = \sqrt{x^2+y^2} = r$ ہوگا جہاں $0 \le r \le 1$ اور $0 \le \phi \le 2\pi$ ہوں گے۔ مساوات ۱ میں $u = r$ اور $v = \phi$ لینے
۲۳۳۹۰ سے درج ذیل مقدار معلوم روپ حاصل ہوتا ہے۔

$$\boldsymbol{r}(r,\phi) = (r\cos\phi)\boldsymbol{i} + (r\sin\phi)\boldsymbol{j} + r\boldsymbol{k}, \quad 0 \le r \le 1, \qquad 0 \le \phi \le 2\pi$$

۲۳۳۹۱ □

۲۳۳۹۲ مثال ۱۵.۲۶: **کرہ کا مقدار معلوم روپ**

۲۳۳۹۳ کرہ $x^2 + y^2 + z^2 = a^2$ کا مقدار معلوم روپ تلاش کریں۔

۲۳۳۹۴ **حل:** کروی محدد میں عمومی نقطہ (x, y, z) کے لیے $x = a\sin\theta\cos\phi$، جبکہ $y = a\sin\theta\sin\phi$، اور $z = a\cos\theta$ ہوگا
۲۳۳۹۵ جہاں $0 \le \theta \le \pi$ اور $0 \le \phi \le 2\pi$ ہیں (شکل ۱۵.۶۱)۔ مساوات ۱ میں $u = \theta$ اور $v = \phi$ لے کر درج ذیل حاصل ہو

۲۴۴۹۶ گا۔

$$\begin{aligned} \boldsymbol{r}(\theta,\phi) =& (a\sin\theta\cos\phi)\boldsymbol{i} + (a\sin\theta\sin\phi)\boldsymbol{j} + (a\cos\theta)\boldsymbol{k} \\ & 0 \le \theta \le \pi, \qquad 0 \le \phi \le 2\pi \end{aligned}$$

۲۴۴۹۷ □

۲۴۴۹۸ مثال ۱۵.۲۷: **بیلن کا مقدار معلوم روپ**

۲۴۴۹۹ درج ذیل بیلن کا مقدار معلوم روپ تلاش کریں۔

$$x^2 + (y-3)^2 = 9, \qquad 0 \le z \le 5$$

۲۴۵۰۰ **حل:** نکی محدد میں نقطہ (x, y, z) کے لیے $x=r\cos\phi$ ، $y=r\sin\phi$ ،اور $z=z$ ہوگا۔ بیلن $x^2 + (y-3)^2=9$

۲۴۵۰۱ (شکل ۱۵.۶۲) پر واقع نقاط کی مساوات وہی ہوگی جو xy مستوی میں بیلن کے تل کی (رداس کو r لکھ کر) نکی محدد مساوات ہے، یعنی

$$\begin{aligned} x^2 + (y^2 - 6y + 9) &= 9 \\ r^2 - 6r\sin\phi &= 0 \end{aligned}$$

۲۴۵۰۲ یا درج ذیل۔

$$r = 6\sin\phi, \qquad 0 \le \phi \le \pi$$

۲۴۵۰۳ پس بیلن پر عمومی نقطے کے لئے درج ذیل ہوگا۔

$$\begin{aligned} x &= r\cos\phi = 6\sin\phi\cos\phi = 3\sin 2\phi \\ y &= r\sin\phi = 6\sin^2\phi \\ z &= z \end{aligned}$$

۲۴۵۰۴ مساوات ا میں $u = \phi$ اور $v = z$ لینے سے درج ذیل مقدار معلوم روپ حاصل ہوتا ہے۔

$$\boldsymbol{r}(\phi, z) = (3\sin 2\phi)\boldsymbol{i} + (6\sin^2\phi)\boldsymbol{j} + z\boldsymbol{k}, \qquad 0 \le \phi \le \pi, \qquad 0 \le z \le 5$$

۲۴۵۰۵ □

۲۴۵۰۶ سطحی رقبہ

۲۴۵۰۷ ہم ایسا دوہرا تکمل حاصل کرنا چاہتے ہیں جس کے ذریعے خمیدہ سطح S ، جس کا مقدار معلوم روپ درج ذیل ہے، کا رقبہ نکالا جا سکے۔

$$\boldsymbol{r}(u,v) = f(u,v)\boldsymbol{i} + g(u,v)\boldsymbol{j} + h(u,v)\boldsymbol{k}, \qquad a \le u \le b, \qquad c \le v \le d$$

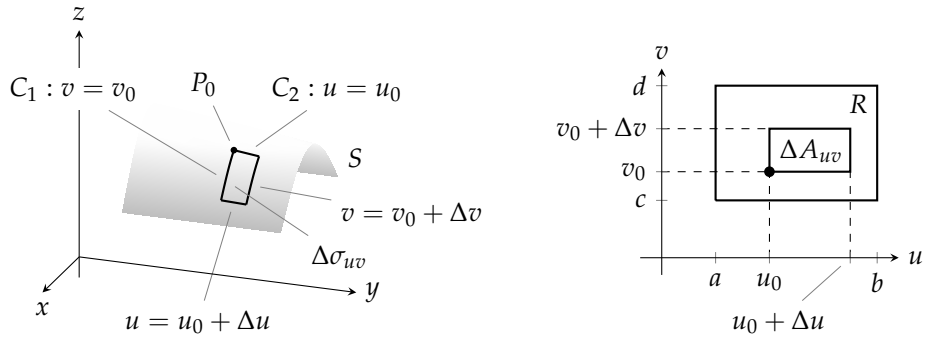

شکل ۱۵.۶۳: مستوی uv میں رقبے کا چھوٹا ٹکڑا ΔA_{uv} سطح S پر خمیدہ رقبے کا ٹکڑا $\Delta\sigma_{uv}$ دیگا۔

۲۴۵۰۸ اس کے لیے سطح کا ہموار ہونا ضروری ہے۔ ہمواری کی تعریف سمتی تفاعل $\boldsymbol{r}$ کے درج ذیل جزوی تفرق پر مبنی ہے۔

$$\boldsymbol{r}_u = \frac{\partial \boldsymbol{r}}{\partial u} = \frac{\partial f}{\partial u}\boldsymbol{i} + \frac{\partial g}{\partial u}\boldsymbol{j} + \frac{\partial h}{\partial u}\boldsymbol{k}$$
$$\boldsymbol{r}_v = \frac{\partial \boldsymbol{r}}{\partial v} = \frac{\partial f}{\partial v}\boldsymbol{i} + \frac{\partial g}{\partial v}\boldsymbol{j} + \frac{\partial h}{\partial v}\boldsymbol{k}$$

۲۴۵۰۹ تعریف: **ہموار مقدار معلوم شدہ سطح**

۲۴۵۱۰ مقدار معلوم سطح $\boldsymbol{r}(u,v) = f(u,v)\boldsymbol{i} + g(u,v)\boldsymbol{j} + h(u,v)\boldsymbol{k}$ اس وقت ہموار کہلاتی ہے جب $\boldsymbol{r}_u$ اور $\boldsymbol{r}_v$ استمراری ہوں
۲۴۵۱۱ اور مقدار معلوم دائرہ کار پر سمتیہ $\boldsymbol{r}_u \times \boldsymbol{r}_v$ کبھی صفر نہ ہو۔

۲۴۵۱۲ □

۲۴۵۱۳ ہمواری کی تعریف میں یہ شرط کہ سمتیہ $\boldsymbol{r}_u \times \boldsymbol{r}_v$ مقدار معلوم دائرہ کار پر کبھی صفر نہ ہو، اس بات کو یقینی بناتی ہے کہ سمتیات $\boldsymbol{u}$ اور $\boldsymbol{v}$ نہ صرف غیر
۲۴۵۱۴ صفر ہوں بلکہ کبھی ایک خط پر بھی نہ ہوں، لہٰذا یہ ہمیشہ سطح کے لیے مماسی سطح تعین کرتے ہیں۔

۲۴۵۱۵ اب R میں ایک چھوٹا مستطیل ΔA_{uv} لیں جس کے اطراف $u=u_0$ ، $u=u_0+\Delta u$ ، $v=v_0$ ، اور $v=v_0+\Delta v$ ہوں (شکل
۲۴۵۱۶ ۱۵.۶۳)۔ مستطیل ΔA_{uv} کا ہر پہلو سطح S پر ایک منحنی پر نقش ہو جاتا ہے، اور یہ چار منحنیات مل کر سطح پر ایک "چھوٹا خمیدہ رقبہ" ΔS_{uv} کے گرد
۲۴۵۱۷ گھیرا بناتی ہیں۔ شکل کے مطابق $v = v_0$ ضلع منحنی C_1 پر نقش ہے، $u = u_0$ منحنی C_2 پر، اور ان کا مشترک راس (u_0, v_0) نقطہ P_0 پر
۲۴۵۱۸ نقش ہے۔

۲۴۵۱۹ شکل ۱۵.۶۴ میں $\Delta\sigma_{uv}$ بڑا کر کے دکھایا گیا ہے۔ سمتیہ $\boldsymbol{r}_u(u_0, v_0)$ منحنی C_1 کو نقطہ P_0 کے مقام پر مماس ہے۔ اسی
۲۴۵۲۰ طرح $\boldsymbol{r}_v(u_0, v_0)$ منحنی C_2 کو نقطہ P_0 کے مقام پر مماس ہے۔ ان سمتیات کا صلیبی ضرب $\boldsymbol{r}_u \times \boldsymbol{r}_v$ نقطہ P_0 پر سطح کے عمود کا
۲۴۵۲۱ متوازی ہوگا۔ (یہاں ہم یہ مفروضہ استعمال کرتے ہیں کہ سطح S ہموار ہے، تاکہ یہ یقینی بنایا جا سکے کہ $\boldsymbol{r}_u \times \boldsymbol{r}_v \neq \boldsymbol{0}$ ہو۔)

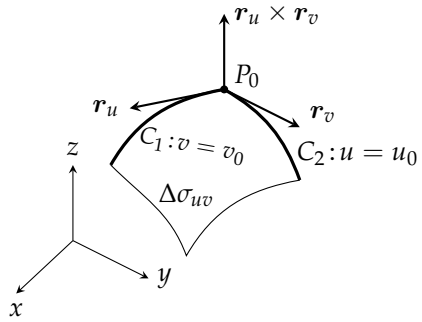

شکل ۱۵.۶۴: رقبے کا ٹکڑا $\Delta\sigma_{uv}$ بڑا کر کے دکھایا گیا ہے۔

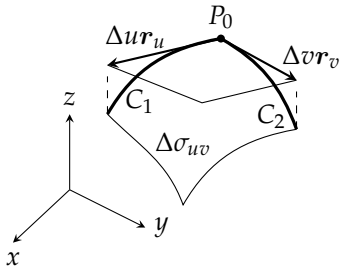

شکل ۱۵.۶۵: مستطیل جس کے اضلاع $\Delta u\boldsymbol{r}_u$ اور $\Delta v\boldsymbol{r}_v$ ہیں تخمیناً $\Delta\sigma_{uv}$ دیتا ہے۔

ہم سطحی ٹکڑا $\Delta\sigma_{uv}$ کو مماسی مستوی پر موجود اس متوازی الاضلاع سے تخمین دیتے ہیں جس کے اطراف سمتیات $\Delta u\,\boldsymbol{r}_u$ اور $\Delta v\,\boldsymbol{r}_v$ ہیں (شکل ۱۵.۶۵)۔ اس متوازی الاضلاع کا رقبہ درج ذیل ہے۔

$$|\Delta u\boldsymbol{r}_u \times \Delta v\boldsymbol{r}_v| = |\boldsymbol{r}_u \times \boldsymbol{r}_v|\Delta u\Delta v \tag{۲}$$

مستوی uv میں R کی خانہ بندی چھوٹے مستطیل رقبوں ΔA_{uv} سے کر کے سطح S کی خانہ بندی کی جا سکتی ہے جو $\Delta\sigma_{uv}$ سطحی ٹکڑوں پر مبنی ہو گا۔ ہر سطحی ٹکڑے $\Delta\sigma_{uv}$ کے رقبے کو مساوات ۲ سے تخمین دے کر تمام رقبے جمع کر کے S کا رقبہ تخمیناً درج ذیل حاصل ہو گا۔

$$\sum_u \sum_v |\boldsymbol{r}_u \times \boldsymbol{r}_v|\,\Delta u\Delta v \tag{۳}$$

اگر Δu اور Δv آزادانہ طور پر صفر کو پہنچتے ہو، $\boldsymbol{r}_u$ اور $\boldsymbol{r}_v$ کا استمرار اس بات کی ضمانت دیتا ہے کہ مساوات ۳ میں دیا گیا مجموعہ دوہرے تکمل $\int_c^d \int_a^b |\boldsymbol{r}_u \times \boldsymbol{r}_v|\,\mathrm{d}u\,\mathrm{d}v$ کو پہنچے گا۔ یہی دوہرا تکمل سطح S کے رقبے کی تعریف ہے، اور یہ پچھلی تعریفوں کے ساتھ ہم آہنگ ہونے کے ساتھ ساتھ زیادہ عمومی ہے۔

تعریف: ہموار سطح کا رقبہ

ہموار سطح جس کی مقدار معلوم مساوات درج ذیل ہو

$$\boldsymbol{r}(u,v) = f(u,v)\boldsymbol{i} + g(u,v)\boldsymbol{j} + h(u,v)\boldsymbol{k}, \qquad a \le u \le b, \quad c \le v \le d$$

کا رقبہ درج ذیل ہو گا۔

$$A = \int_c^d \int_a^b |\boldsymbol{r}_u \times \boldsymbol{r}_v|\,\mathrm{d}u\,\mathrm{d}v \tag{۴}$$

□

۲۴۵۳۳ ہم حصہ ۱۵.۵ کی طرح $|\boldsymbol{r}_u \times \boldsymbol{r}_v|\, \mathrm{d}u\, \mathrm{d}v$ کی جگہ $\mathrm{d}\sigma$ لکھ کر اس تکمل کو مختصراً درج ذیل لکھتے ہیں۔

سطحی رقبے کی تفریق اور سطحی رقبے کا تفریقی کلیہ

$$\iint_S \mathrm{d}\sigma \qquad\qquad \mathrm{d}\sigma = |\boldsymbol{r}_u \times \boldsymbol{r}_v|\, \mathrm{d}u\, \mathrm{d}v \tag{۵}$$

سطحی رقبے کا تفریقی کلیہ — سطحی رقبے کی تفریق

۲۴۵۳۴ مثال ۱۵.۲۸: **مخروط کا رقبہ (مخروط)**

۲۴۵۳۵ مثال ۱۵.۲۵ میں ہم مخروط (شکل ۱۵.۶۰) کا درج ذیل مقدار معلوم روپ دریافت کر چکے ہیں۔

$$\boldsymbol{r}(r,\phi) = (r\cos\phi)\boldsymbol{i} + (r\sin\phi)\boldsymbol{j} + r\boldsymbol{k}, \qquad 0 \le r \le 1, \qquad 0 \le \phi \le 2\pi$$

۲۴۵۳۶ مساوات ۴ استعمال کرنے کے لیے ہم پہلے $\boldsymbol{r}_r \times \boldsymbol{r}_\phi$ حاصل کرتے ہیں۔

$$\begin{aligned}\boldsymbol{r}_r \times \boldsymbol{r}_\phi &= \begin{vmatrix} \boldsymbol{i} & \boldsymbol{j} & \boldsymbol{k} \\ \cos\phi & \sin\phi & 1 \\ -r\sin\phi & r\cos\phi & 0 \end{vmatrix} \\ &= -(r\cos\phi)\boldsymbol{i} - (r\sin\phi)\boldsymbol{j} + (\underbrace{r\cos^2\phi + r\sin^2\phi}_{r})\boldsymbol{k}\end{aligned}$$

۲۴۵۳۷ یوں $|\boldsymbol{r}_r \times \boldsymbol{r}_\phi| = \sqrt{r^2\cos^2\phi + r^2\sin^2\phi + r^2} = \sqrt{2r^2} = \sqrt{2}r$ اور مخروط کا سطحی رقبہ درج ذیل ہوگا۔

$$\begin{aligned}A &= \int_0^{2\pi}\int_0^1 |\boldsymbol{r}_r \times \boldsymbol{r}_\phi|\, \mathrm{d}r\, \mathrm{d}\phi \qquad u = r, v = \phi \text{ مساوات ۴ میں} \\ &= \int_0^{2\pi}\int_0^1 \sqrt{2}\, r\ \mathrm{d}r\ \mathrm{d}\phi = \int_0^{2\pi} \frac{\sqrt{2}}{2}\, \mathrm{d}\phi = \frac{\sqrt{2}}{2}(2\pi) = \pi\sqrt{2} \quad \text{مربع اکائیاں}\end{aligned}$$

۲۴۵۳۸ □

۲۴۵۳۹ مثال ۱۵.۲۹: **سطحی رقبہ (کرہ)**

۲۴۵۴۰ اس کرہ کا سطحی رقبہ تلاش کریں جس کا رداس a ہو۔

۲۴۵۴۱ **حل:** ہم مثال ۱۵.۲۶ میں حاصل کیا گیا درج ذیل مقدار معلوم روپ استعمال کرتے ہیں۔

$$\begin{aligned}\boldsymbol{r}(\theta,\phi) =& (a\sin\theta\cos\phi)\boldsymbol{i} + (a\sin\theta\sin\phi)\boldsymbol{j} + (a\cos\theta)\boldsymbol{k} \\ & 0 \le \theta \le \pi, \qquad 0 \le \phi \le 2\pi\end{aligned}$$

۲۳۵۴۲ اب $\boldsymbol{r}_\theta \times \boldsymbol{r}_\phi$ نکالتے ہیں۔

$$\begin{aligned}\boldsymbol{r}_\theta \times \boldsymbol{r}_\phi &= \begin{vmatrix} \boldsymbol{i} & \boldsymbol{j} & \boldsymbol{k} \\ a\cos\theta\cos\phi & a\cos\theta\sin\phi & -a\sin\theta \\ -a\sin\theta\sin\phi & a\sin\theta\cos\phi & 0 \end{vmatrix} \\ &= (a^2\sin^2\theta\cos\phi)\boldsymbol{i} + (a^2\sin^2\theta\sin\phi)\boldsymbol{j} + (a^2\sin\theta\cos\theta)\boldsymbol{k}\end{aligned}$$

۲۳۵۴۳ یوں درج ذیل ہو گا۔

$$\begin{aligned}\left|\boldsymbol{r}_\theta \times \boldsymbol{r}_\phi\right| &= \sqrt{a^4\sin^4\theta\cos^2\phi + a^4\sin^4\theta\sin^2\phi + a^4\sin^2\theta\cos^2\theta} \\ &= \sqrt{a^4\sin^4\theta + a^2\sin^2\theta\cos^2\theta} = \sqrt{a^4\sin^2\theta(\sin^2\theta + \cos^2\theta)} \\ &= a^2\sqrt{\sin^2\theta} = a^2\sin\theta\end{aligned}$$

۲۳۵۴۴ چونکہ $0 \le \theta \le \pi$ پر $\sin\theta \ge 0$ ہو گا لہٰذا سطحی رقبہ درج ذیل ہو گا۔

$$\begin{aligned}A &= \int_0^{2\pi}\int_0^{\pi} a^2\sin\theta\ \mathrm{d}\theta\ \mathrm{d}\phi \\ &\int_0^{2\pi}\Big[-a^2\cos\theta\Big]_0^{\pi}\ \mathrm{d}\phi = \int_0^{2\pi} 2a^2\ \mathrm{d}\phi = 4\pi a^2 \quad \text{مربع اکائیاں}\end{aligned}$$

۲۳۵۴۵ یہ نتیجہ کرہ کے معلوم کلیہ کے عین مطابق ہے۔ □

۲۳۵۴۶ سطحی تکملات

۲۳۵۴۷ مقدار معلوم سطح کے رقبہ کا کلیہ حاصل کرنے کے بعد اب ہم تفاعل کا تکمل مقدار معلوم سطح پر حل کر سکتے ہیں۔

۲۳۵۴۸ تعریف: **سطحی تکمل برائے مقدار معلوم سطح**

۲۳۵۴۹ اگر سطح S استمراری ہو جس کا مقدار معلوم روپ $\boldsymbol{r}(u,v) = f(u,v)\boldsymbol{i} + g(u,v)\boldsymbol{j} + h(u,v)\boldsymbol{k}$ ہو جہاں $a \le u \le b$

۲۳۵۵۰ اور $c \le v \le d$ ہیں، اور $G(x,y,z)$ استمراری تفاعل ہو جو S پر معین ہو، تب S پر G کا تکمل درج ذیل ہو گا۔

$$\iint_S G(x,y,z)\ \mathrm{d}\sigma = \int_c^d\int_a^b G\Big(f(u,v), g(u,v), h(u,v)\Big)\ |\boldsymbol{r}_u \times \boldsymbol{r}_v|\ \mathrm{d}u\ \mathrm{d}v$$

۲۳۵۵۱ □

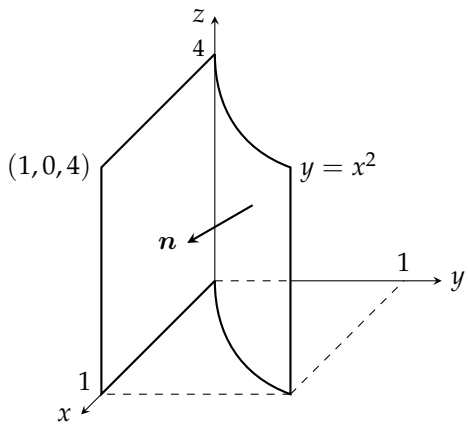

شکل ۱۵.۶۶: مکافی نما بیل کی سطح سے گزرنے والے بہاؤ کی تلاش۔

۲۴۵۵۲ مثال ۱۵.۳۰: مقدار معلوم روپ کی سطح پر تکمل

۲۴۵۵۳ تفاعل $G(x, y, z) = x^2$ کا تکمل مخروطی سطح $z = \sqrt{x^2 + y^2},\ 0 \leq z \leq 1$ پر معلوم کریں۔

۲۴۵۵۴ **حل:** مثال ۱۵.۲۵ اور مثال ۱۵.۲۸ کا کام آگے بڑھاتے ہوئے $|\boldsymbol{r}_r \times \boldsymbol{r}_\phi| = \sqrt{2}r$ لے کر درج ذیل ہو گا۔

$$\begin{aligned}
\iint_S x^2 \ \mathrm{d}\sigma &= \int_0^{2\pi} \int_0^1 (r^2 \cos^2 \phi)(\sqrt{2}\, r) \ \mathrm{d}r \ \mathrm{d}\phi \qquad\qquad x = r\cos\phi \\
&= \sqrt{2} \int_0^{2\pi} \int_0^1 r^3 \cos^2 \phi \ \mathrm{d}r \ \mathrm{d}\phi \\
&= \frac{\sqrt{2}}{4} \int_0^{2\pi} \cos^2 \phi \ \mathrm{d}\phi = \frac{\sqrt{2}}{4} \left[\frac{\phi}{2} + \frac{1}{4}\sin 2\phi\right]_0^{2\pi} = \frac{\pi\sqrt{2}}{2}
\end{aligned}$$

۲۴۵۵۵ □

۲۴۵۵۶ مثال ۱۵.۳۱: بہاؤ کی تلاش

۲۴۵۵۷ قطع مکافی بیلن $y = x^2,\ 0 \leq x \leq 1,\ 0 \leq z \leq 4$ سے $\boldsymbol{F} = yz\boldsymbol{i} + x\boldsymbol{j} - z^2\boldsymbol{k}$ کا باہر رخ گزرتا بہاؤ تلاش کریں (شکل
۲۴۵۵۸ ۱۵.۶۶)۔

۲۴۵۵۹ **حل:** سطح پر $x = x$ ، $y = x^2$ ، اور $z = z$ ہیں لہذا مقدار معلوم روپ $\boldsymbol{r}(x, z) = x\boldsymbol{i} + x^2\boldsymbol{j} + z\boldsymbol{k}$ ہو گا جہاں

۲۳۵۶۰ $0 \le x \le 1,\ 0 \le z \le 4$ ہے۔ مماسی سمتیات کا صلیبی ضرب درج ذیل ہو گا۔

$$\boldsymbol{r}_x \times \boldsymbol{r}_z = \begin{vmatrix} \boldsymbol{i} & \boldsymbol{j} & \boldsymbol{k} \\ 1 & 2x & 0 \\ 0 & 0 & 1 \end{vmatrix} = 2x\boldsymbol{i} - \boldsymbol{j}$$

۲۳۵۶۱ سطح پر باہر رخ عمودی سمتیہ درج ذیل ہے۔

$$\boldsymbol{n} = \frac{\boldsymbol{r}_x \times \boldsymbol{r}_z}{|\boldsymbol{r}_x \times \boldsymbol{r}_z|} = \frac{2x\boldsymbol{i} - \boldsymbol{j}}{\sqrt{4x^2+1}}$$

۲۳۵۶۲ سطح پر $y = x^2$ ہے لہٰذا اس پر سمتیہ میدان درج ذیل ہو گا۔

$$\boldsymbol{F} = yz\boldsymbol{i} + x\boldsymbol{j} - z^2\boldsymbol{k} = x^2z\boldsymbol{i} + x\boldsymbol{j} - z^2\boldsymbol{k}$$

۲۳۵۶۳ یوں

$$\begin{aligned} \boldsymbol{F} \cdot \boldsymbol{n} &= \frac{1}{\sqrt{4x^2+1}}((x^2z)(2x) + (x)(-1) + (-z^2)(0)) \\ &= \frac{2x^3z - x}{\sqrt{4x^2+1}} \end{aligned}$$

۲۳۵۶۴ اور $\boldsymbol{F}$ کا سطح سے باہر رخ گزرتا بہاؤ درج ذیل ہو گا۔

$$\begin{aligned} \iint\limits_S \boldsymbol{F} \cdot \boldsymbol{n}\ \mathrm{d}\sigma &= \int_0^4 \int_0^1 \frac{2x^3z - x}{\sqrt{4x^2+1}} |\boldsymbol{r}_x \times \boldsymbol{r}_z|\, \mathrm{d}x\ \mathrm{d}z \\ &= \int_0^4 \int_0^1 \frac{2x^3z - x}{\sqrt{4x^2+1}} \sqrt{4x^2+1}\, \mathrm{d}x\ \mathrm{d}z \\ &= \int_0^4 \int_0^1 (2x^3z - x)\ \mathrm{d}x\ \mathrm{d}z = \int_0^4 \left[\frac{x^4z}{2} - \frac{x^2}{2}\right]_0^1 \mathrm{d}z \\ \int_0^4 \frac{z-1}{2}\ \mathrm{d}z &= \frac{1}{4}(z-1)^2\Big]_0^4 \\ &= \frac{1}{4}(9) - \frac{1}{4}(1) = 2 \end{aligned}$$

۲۳۵۶۵ □

۲۳۵۶۶ مثال ۱۵.۳۲: مرکز کمیت کی تلاش

۲۳۵۶۷ مستقل کثافت δ کا باریک خول مخروط $z = \sqrt{x^2+y^2}$ سے مستویات $z = 1$ اور $z = 2$ کاٹتی ہیں (شکل ۱۵.۶۷)۔ اس خول کا مرکز

۲۳۵۶۸ کمیت تلاش کریں۔

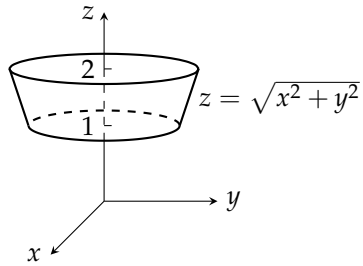

شکل ۱۵.۶۷: سطوح $z = 1$ اور $z = 2$ مخروط $z = \sqrt{x^2+y^2}$ کو کاٹتی ہیں (برائے مثال ۱۵.۳۲)۔

۲۴۵۶۹ حل: محور z کے لحاظ سے سطح تشاکل ہے لہٰذا $\bar{x} = 0$ اور $\bar{y} = 0$ ہو گا۔ ہمیں $\bar{z} = \frac{M_{xy}}{M}$ تلاش کرنی ہے۔ مثال ۱۵.۲۵ اور مثال ۱۵.۲۸
۲۴۵۷۰ کی طرح چلتے ہوئے

$$\boldsymbol{r}(r,\phi) = r\cos\phi\,\boldsymbol{i} + r\sin\phi\,\boldsymbol{j} + r\,\boldsymbol{k}, \quad 1 \le r \le 2,\ 0 \le \phi \le 2\pi$$

۲۴۵۷۱ اور

$$\left|\boldsymbol{r}_r \times \boldsymbol{r}_\phi\right| = \sqrt{2}\,r$$

۲۴۵۷۲ ہو گا۔ یوں درج ذیل ہو گا۔

$$\begin{aligned}
M &= \iint\limits_S \delta\ \mathrm{d}\sigma = \int_0^{2\pi}\int_1^2 \delta\sqrt{2}\,r\ \mathrm{d}r\ \mathrm{d}\phi \\
&= \delta\sqrt{2}\int_0^{2\pi}\left[\frac{r^2}{2}\right]_1^2 \mathrm{d}\phi = \delta\sqrt{2}\int_0^{2\pi}\left(2-\frac{1}{2}\right)\mathrm{d}\phi \\
&= \delta\sqrt{2}\left[\frac{3\phi}{2}\right]_0^{2\pi} = 3\pi\delta\sqrt{2}
\end{aligned}$$

۲۴۵۷۳

$$\begin{aligned}
M_{xy} &= \iint_S \delta z\ \mathrm{d}\sigma = \int_0^{2\pi}\int_1^2 \delta r\sqrt{2}\,r\ \mathrm{d}r\ \mathrm{d}\phi \\
&= \delta\sqrt{2}\int_0^{2\pi}\int_1^2 r^2\,\mathrm{d}r\,\mathrm{d}\phi = \delta\sqrt{2}\int_0^{2\pi}\left[\frac{r^3}{3}\right]_1^2 \mathrm{d}\phi \\
&= \delta\sqrt{2}\int_0^{2\pi}\frac{7}{3}\,\mathrm{d}\phi = \frac{14}{3}\pi\delta\sqrt{2} \\
\bar{z} &= \frac{M_{xy}}{M} = \frac{14\pi\delta\sqrt{2}}{3(3\pi\delta\sqrt{2})} = \frac{14}{9}
\end{aligned}$$

خول کا مرکز کمیت نقطہ $(0, 0, \frac{14}{9})$ پر پایا جاتا ہے۔ □

سوالات

سطح کے مقدار معلوم روپ کی تلاش

سوال ۱۵.۲۱۵ تا ۱۵.۲۳۰ میں دی گئی سطح کا مقدار معلوم روپ تلاش کریں۔ (درست جواب کے مختلف روپ ممکن ہیں لہٰذا آپ کے جواب کتاب میں دیے جواب سے مختلف ہو سکتے ہیں۔)

سوال ۱۵.۲۱۵: قطع مکافی سطح $z = x^2 + y^2, z \leq 4$

سوال ۱۵.۲۱۶: قطع مکافی سطح $z = 9 - x^2 - y^2, z \geq 0$

سوال ۱۵.۲۱۷: **مخروط مقطوع** ثُمن اول میں $z = 0$ اور $z = 3$ کے بیچ مخروط $z = \frac{\sqrt{x^2+y^2}}{2}$

سوال ۱۵.۲۱۸: **مخروط مقطوع** مستوی $z = 2$ اور مستوی $z = 4$ کے بیچ مخروط $z = 2\sqrt{x^2 + y^2}$

سوال ۱۵.۲۱۹: **کروی ٹوپی** کروی ٹوپی جو $x^2 + y^2 + z^2 = 9$ سے مخروط $z = \sqrt{x^2 + y^2}$ کاٹتا ہے۔

سوال ۱۵.۲۲۰: **کروی ٹوپی** ثُمن اول میں مستوی xy اور مخروط $z = \sqrt{x^2 + y^2}$ کے بیچ کرہ $x^2 + y^2 + z^2 = 4$

سوال ۱۵.۲۲۱: **کروی پٹی** مستوی $z = -\frac{\sqrt{3}}{2}$ اور مستوی $z = \frac{\sqrt{3}}{2}$ کے بیچ کروی پٹی $x^2 + y^2 + z^2 = 3$

سوال ۱۵.۲۲۲: **کروی ٹوپی** وہ بالائی کروی ٹوپی جو $x^2 + y^2 + z^2 = 8$ سے مستوی $z = -2$ کاٹتا ہے۔

سوال ۱۵.۲۲۳: **مستویات کے بیچ قطع مکافی بیلن** وہ حصہ جو قطع مکافی بیلن $z = 4 - y^2$ سے مستویات $x = 0, x = 2, z = 0$ کاٹتی ہیں۔

سوال ۱۵.۲۲۴: **مستویات کے بیچ قطع مکافی بیلن** قطع مکافی بیلن $y = x^2$ جو $z = 0, z = 3$ اور $y = 2$ کے بیچ پایا جاتا ہے۔

سوال ۱۵.۲۲۵: **دائری بیلنی پٹی** مستوی $x = 0$ اور مستوی $x = 3$ کے بیچ بیلن $y^2 + z^2 = 9$

سوال ۱۵.۲۲۶: **دائری بیلنی پٹی** مستوی xy سے اوپر مستوی $y = -2$ اور مستوی $y = 2$ کے بیچ بیلن $x^2 + z^2 = 4$

سوال ۱۵.۲۲۷: **بیلن کے اندر ترچھا مستوی** درج ذیل بیلن کے اندر مستوی $x + y + z = 1$ کا ٹکڑا۔ (الف) $x^2 + y^2 = 9$، (ب) $y^2 + z^2 = 9$

سوال ۱۵.۲۲۸: **بیلن کے اندر ترچھا مستوی** درج ذیل بیلن کے اندر مستوی $x - y + 2z = 2$ کا ٹکڑا۔(الف) $x^2 + z^2 = 3$ ،(ب) $y^2 + z^2 = 2$

سوال ۱۵.۲۲۹: **دائری بیلنی پٹی** مستویات $y = 0$ اور $y = 3$ کے بیچ بیلن $(x-2)^2 + z^2 = 4$ کا ٹکڑا۔

سوال ۱۵.۲۳۰: **دائری بیلنی پٹی** مستویات $x = 0$ اور $x = 10$ کے بیچ بیلن $y^2 + (z-5)^2 = 25$ کا ٹکڑا۔

مقدار معلوم روپ سطح کا رقبہ

سوال ۱۵.۲۳۱ تا ۱۵.۲۴۰ میں مقدار معلوم روپ استعمال کر کے سطح کے رقبے کو دوہرا تکمل لکھیں۔اس کے بعد تکمل کی قیمت تلاش کریں۔(تکمل لکھنے کے کئی درست طریقے ہیں لہٰذا آپ کا لکھا ہوا تکمل کتاب میں دیے جواب سے مختلف ہو سکتا ہے۔تاہم ان کی قیمت وہی ہونی چاہیے جو کتاب میں دی گئی ہے۔) سوال ۱۵.۲۳۱: **بیلن میں ترچھا مستوی** بیلن $x^2 = y^2 = 1$ کے اندر مستوی $y + 2z = 2$ کا ٹکڑا۔

سوال ۱۵.۲۳۲: **بیلن کے اندر مستوی** بیلن $x^2 + y^2 = 4$ کے اندر مستوی $z = -x$ کا ٹکڑا۔

سوال ۱۵.۲۳۳: **مخروط مقطوع** مستویات $z = 2$ اور $z = 6$ کے بیچ مخروط $z = 2\sqrt{2x^2 + y^2}$ کا ٹکڑا۔

سوال ۱۵.۲۳۴: **مخروط مقطوع** مستویات $z = 1$ اور $z = 4/3$ کے بیچ مخروط $z = \frac{\sqrt{x^2+y^2}}{3}$ کا ٹکڑا۔

سوال ۱۵.۲۳۵: **دائری بیلنی پٹی** مستویات $z = 1$ اور $z = 4$ کے بیچ مخروط $x^2 + y^2 = 1$ کا ٹکڑا۔

سوال ۱۵.۲۳۶: **دائری بیلنی پٹی** مستویات $y = -1$ اور $y = 1$ کے بیچ مخروط $x^2 + z^2 = 10$ کا ٹکڑا۔

سوال ۱۵.۲۳۷: **قطع مکافی ٹوپی** وہ ٹوپی جو قطع مکافی $z = 2 - x^2 - y^2$ سے مخروط $z = \sqrt{x^2 + y^2}$ کاٹتا ہے۔

سوال ۱۵.۲۳۸: **قطع مکافی پٹی** قطع مکافی $z = x^2 + y^2$ کا وہ حصہ جو مستویات $z = 1$ اور $z = 4$ کے بیچ ہے۔

سوال ۱۵.۲۳۹: **کٹا ہوا کرہ** کرہ $x^2 + y^2 + z^2 = 2$ کا وہ نچلا حصہ جو اس کرہ سے مخروط $z = \sqrt{x^2 + y^2}$ کاٹتا ہے۔

سوال ۱۵.۲۴۰: **کروی پٹی** مستویات $z = -1$ اور $z = \sqrt{3}$ کے بیچ کرہ $x^2 + y^2 + z^2 = 4$ کا ٹکڑا۔

مقدار معلوم سطح پر تکمل

سوال ۱۵.۲۴۱ تا ۱۵.۲۴۸ میں دیے گئے تفاعل کا تکمل دی گئی سطح پر حاصل کریں۔ سوال ۱۵.۲۴۱: **قطع مکافی بیلن** قطع مکافی بیلن $y = x^2,\ 0 \le x \le 2,\ 0 \le z \le 3$ پر تفاعل $G(x, y, z) = x$

سوال ۱۵.۲۴۲: **دائری بیلن** بیلنی سطح $y^2 + z^1 = 4,\ z \ge 0,\ 1 \le x \le 4$ پر تفاعل $G(x, y, z) = z$

سوال ۱۵.۲۴۳: **کرہ** اکائی کرہ $x^2+y^2+z^2=1$ پر $G(x,y,z)=x^2$

سوال ۱۵.۲۴۴: **نصف کرہ** نصف کرہ $x^2+y^2+z^2=a^2,\ z\geq 0$ پر $G(x,y,z)=z^2$

سوال ۱۵.۲۴۵: **مستوی کا ٹکڑا** تفاعل $F(x,y,z)=z-x$ مستوی $z=x+y+z=4$ کے اس حصہ پر جو مستوی xy سے اوپر چکور $0\leq x\leq 1,\ 0\leq y\leq 1$ پر پایا جاتا ہے۔

سوال ۱۵.۲۴۶: **مخروط** مخروط $z=\sqrt{x^2+y^2}$، $0\leq z\leq 1$ پر تفاعل $F(x,y,z)=z-x$

سوال ۱۵.۲۴۷: **قطع مکافی گنبد** قطع مکافی گنبد $z=1-x^2-y^2,\ z\geq 0$ پر تفاعل $H(x,y,z)=x^2\sqrt{5-4z}$

سوال ۱۵.۲۴۸: **کروی ٹوپی** کرہ $x^2+y^2+z^2=4$ کا وہ حصہ جو مخروط $z=\sqrt{x^2+y^2}$ سے اوپر پایا جاتا ہو اور تفاعل $H(x,y,z)=yz$

سطحی مقدار معلوم روپ اور بہاؤ

سوال ۱۵.۲۴۹ تا ۱۵.۲۵۸ میں مقدار معلوم روپ استعمال کرتے ہوئے دیے گئے رخ میں بہاؤ $\iint_S \boldsymbol{F}\cdot\boldsymbol{n}\,\mathrm{d}\sigma$ تلاش کریں۔

سوال ۱۵.۲۴۹: **قطع مکافی بیلن** قطع مکافی بیلن $z=4-y^2$ سے سطوح $x=0$ ، $x=1$ ،اور $z=0$ جو سطح کاٹتی ہیں اس سے گزرتا باہر رخ (یعنی محور x سے عمودی دور جانب) بہاؤ میدان $\boldsymbol{F}=z^2\boldsymbol{i}+x\boldsymbol{j}-3z\boldsymbol{k}$ کے لیے تلاش کریں۔

سوال ۱۵.۲۵۰: **قطع مکافی بیلن** قطع مکافی بیلن $y=x^2,\ -1\leq x\leq 1$ سے سطوح $z=0$ ،اور $z=2$ سطح کاٹتی ہیں۔ اس سطح سے باہر رخ گزرتا بہاؤ (یعنی مستوی yz کو قائمہ) میدان $\boldsymbol{F}=x^2\boldsymbol{j}-xz\boldsymbol{k}$ کے لیے تلاش کریں۔

سوال ۱۵.۲۵۱: **کرہ** مبدا سے دوری کی جانب، ثُمن اول میں موجود کرہ $x^2+y^2+z^2=a^2$ کے حصہ سے، میدان $\boldsymbol{F}=z\boldsymbol{k}$ کا بہاؤ دریافت کریں۔

سوال ۱۵.۲۵۲: **کرہ** مبدا سے دوری کی جانب، کرہ $x^2+y^2+z^2=a^2$ سے گزرتا بہاؤ، میدان $\boldsymbol{F}=x\boldsymbol{i}+y\boldsymbol{j}+z\boldsymbol{k}$ کے لئے دریافت کریں۔

سوال ۱۵.۲۵۳: **مستوی** میدان $\boldsymbol{F}=2xy\boldsymbol{i}+2yz\boldsymbol{j}+2xz\boldsymbol{k}$ کا اوپر کی سمت بہاؤ مستوی $x+y+z=2a$ کے اس حصے پر تلاش کریں جو مستوی xy میں موجود چکور $0\leq x\leq a,\ 0\leq y\leq a$ کے اوپر پایا جاتا ہے۔

سوال ۱۵.۲۵۴: **بیلن** میدان $\boldsymbol{F}=x\boldsymbol{i}+y\boldsymbol{j}+z\boldsymbol{k}$ کا باہر کی سمت گزرتا بہاؤ بیلن $x^2+y^2=1,\ 0\leq z\leq a$ کے اس حصے کے لئے تلاش کریں جسے مستویات $z=0$ اور $z=a$ گھیرتی ہیں۔

سوال ۱۵.۲۵۵: **مخروط** میدان $\boldsymbol{f} = xy\boldsymbol{i} - z\boldsymbol{k}$ کا مخروط $z = \sqrt{x^2+y^2},\ 0 \le z \le 1$ سے باہر کی سمت (محور z سے عمودی دور) گزرتا بہاؤ تلاش کریں۔

سوال ۱۵.۲۵۶: **مخروط** میدان $\boldsymbol{F} = y^2\boldsymbol{i} + xz\boldsymbol{j} - \boldsymbol{k}$ کا مخروط $z = 2 - x^2 - y^2, 0 \le z \le 2$ سے باہر کی سمت (محور z سے عمودی دور) گزرتا بہاؤ تلاش کریں۔

سوال ۱۵.۲۵۷: **مخروطی مقطوع** میدان $\boldsymbol{F} = -x\boldsymbol{i} - y\boldsymbol{j} + z^2\boldsymbol{k}$ کا مخروط $z = \sqrt{x^2+y^2}$ کے اس حصے سے باہر کی سمت (محور z سے عمودی دور) گزرتا بہاؤ تلاش کریں جو مستویات $z = 1$ اور $z = 2$ کے بیچ پایا جاتا ہے۔

سوال ۱۵.۲۵۸: **قطع مکافی جسم** میدان $\boldsymbol{F} = 4x\boldsymbol{i} + 4y\boldsymbol{j} + 2\boldsymbol{k}$ کا مخروط $z = \sqrt{x^2+y^2}$ کے اس نچلے حصے سے باہر کی سمت (محور z سے عمودی دور) گزرتا بہاؤ تلاش کریں جو مستوی $z = 1$ کاٹتا ہے۔

معیار اثر اور کمیت

سوال ۱۵.۲۵۹: کرہ $x^2 + y^2 + z^2 = a^2$ کے اس حصے کا وسطانی مرکز تلاش کریں جو ثُمن اول میں موجود ہے۔

سوال ۱۵.۲۶۰: مستقل کثافت δ کی باریک موٹائی کا خول مستویات $z = 1$ اور $z = 2$ مخروط $x^2 + y^2 - z^2 = 0$ سے کاٹتی ہیں۔ اس خول کا مرکز کمیت اور محور z کے گرد جمودی معیار اثر اور رداس دوار تلاش کریں۔

سوال ۱۵.۲۶۱: مستقل کثافت δ کے باریک کروی خول $x^2 + y^2 + z^2 = a^2$ کا محور z کے گرد جمودی معیار اثر تلاش کریں۔

سوال ۱۵.۲۶۲: مستقل کثافت δ کے باریک مخروطی خول $z = \sqrt{x^2+y^2},\ 0 \le z \le 1$ کا محور z کے گرد جمودی معیار اثر تلاش کریں۔

مقدار معلوم سطوح کے مماسی مستویات

مقدار معلوم سطح $\boldsymbol{r}(u,v) = f(u,v)\boldsymbol{i} + g(u,v)\boldsymbol{a}_y + h(u,v)\boldsymbol{k}$ کے نقطہ $P_0(f(u_0,v_0), g(u_0,v_0), h(u_0,v_0))$ پر مماسی مستوی سے مراد وہ مستوی ہے جو نقطہ P_0 پر مماسی سمتیات $\boldsymbol{r}_u(u_0,v_0)$ اور $\boldsymbol{r}_v(u_0,v_0)$ کے صلیبی ضرب سمتیہ $\boldsymbol{r}_u(u_0,v_0) \times \boldsymbol{r}_v(u_0,v_0)$ کو عمودی ہو۔ سوال ۱۵.۲۶۳ تا ۱۵.۲۶۶ میں نقطہ P_0 پر سطح کے مماسی مستوی کی مساوات تلاش کریں۔ اس کے بعد سطح کی کارتیسی مساوات دریافت کر کے سطح اور مماسی مستوی دونوں کا خاکہ ایک ساتھ کھینچیں۔

سوال ۱۵.۲۶۳: **مخروط** مخروط $\boldsymbol{r}(r,\phi) = r\cos\phi\,\boldsymbol{i} + r\sin\phi\,\boldsymbol{j} + r\,\boldsymbol{k},\ r \ge 0,\quad 0 \le \phi \le 2\pi$ پر نقطہ $P_0 = (\sqrt{2}, \sqrt{2}, 2)$ کے مقام پر، جو $(r,\phi) = (2, \pi/4)$ کے مطابق ہے۔

سوال ۱۵.۲۶۴: **نصف کرہ** نصف کرہ $\boldsymbol{r}(\phi,\theta) = 4\sin\phi\cos\theta\,\boldsymbol{i} + 4\sin\phi\sin\theta\,\boldsymbol{j} + 4\cos\phi\,\boldsymbol{k},$ جہاں $0 \le \theta \le \pi/2$ اور $0 \le \phi \le 2\pi$ ہیں اور نقطہ $P_0 = (\sqrt{2}, \sqrt{2}, 2\sqrt{3})$ ہے، جو $(\theta,\phi) = (\pi/6, \pi/4)$ کے مطابق ہے۔

سوال ۱۵.۲۶۵: **دائروی بیلن** دائروی بیلن $\boldsymbol{r}(\phi, z) = 3\sin(2\phi)\,\boldsymbol{i} + 6\sin^2\phi\,\boldsymbol{j} + z\,\boldsymbol{k},\ 0 \le \phi \le \pi$ اور نقطہ $P_0 = \left(\frac{3\sqrt{3}}{2}, \frac{9}{2}, 0\right)$ ہے، جو $(\phi, z) = (\pi/3, 0)$ کے مطابق ہے (مثال ۱۵.۲۷ ملاحظہ کریں)۔

سوال ۱۵.۲۶۶: **قطع مکافی بیلن** قطع مکافی بیلن $\boldsymbol{r}(x, y) = x\boldsymbol{i} + y\boldsymbol{j} - x^2\boldsymbol{k},\ -\infty < x < \infty,\ -\infty < y < \infty$ نقطہ $P_0 = (1, 2, -1)$ ہے، جو $(x, y) = (1, 2)$ کے مطابق ہے۔

مقدار معلوم روپ کی مزید مثالیں

سوال ۱۵.۲۶۷:

(الف) محور z کے گرد مستوی xz میں دائرہ C کو فضا میں گھمانے سے اندرسہ حاصل ہو گا۔ (دکھائے گئے شکل سے رجوع کریں۔) اگر C کا رداس $r > 0$ اور مرکز $(R, 0, 0)$ ہو ثابت کریں کہ اندرسہ کا مقدار معلوم روپ درج ذیل ہے

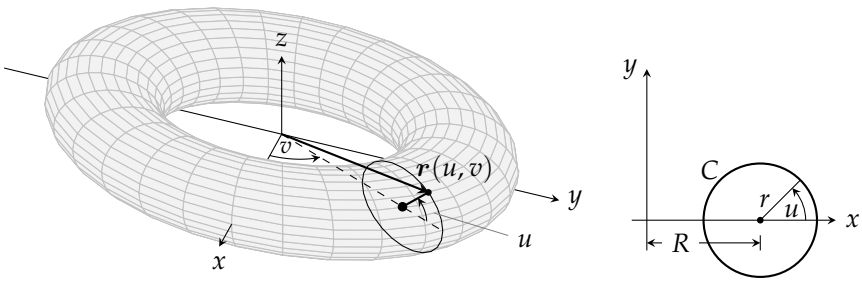

$$\boldsymbol{r}(u, v) = (R + r\cos u)\cos v\,\boldsymbol{i} + (R + r\cos u)\sin v\,\boldsymbol{j} + r\sin u\,\boldsymbol{k}$$

جہاں $0 \le u \le 2\pi$ اور $0 \le v \le 2\pi$ ہیں۔

(ب) ثابت کریں کہ اندرسہ کا رقبہ $A = 4\pi^2 Rr$ ہے۔

سوال ۱۵.۲۶۸: **سطح طواف کا مقدار معلوم روپ** فرض کریں مقدار معلوم شدہ منحنی $C : (f(u), g(u))$ محور x کے گرد گھمائی جاتی ہے، جہاں $a \le u \le b$ پر $g(u) > 0$ ہے۔

(الف) دکھائیں کہ سطح طواف کا مقدار معلوم روپ درج ذیل ہو گا

$$\boldsymbol{r}(u, v) = f(u)\boldsymbol{i} + g(u)\cos v\,\boldsymbol{j} + g(u)\sin v\,\boldsymbol{k}$$

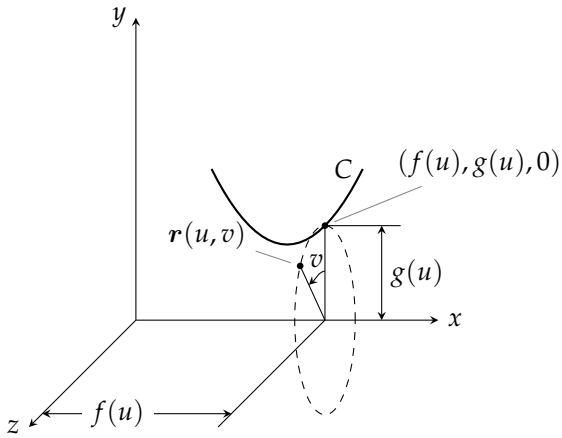

جہاں مستوی xy سے نقطہ $\boldsymbol{r}(u,v)$ تک زاویہ $0 \leq v \leq 2\pi$ ہے۔(دی گئی شکل ملاحظہ کریں۔)دھیان دیں کہ $f(u)$ محور طواف کے ہمراہ فاصلے دیتا ہے اور $g(u)$ محور طواف سے فاصلے دیتا ہے۔

(ب) اس سطح کا مقدار معلوم روپ معلوم کریں جو منحنی $y \geq 0\,,\, x = y^2$ کو محور x کے گرد گھمانے سے حاصل ہو گا۔

سوال ۱۵.۲۶۹: **ترخیمی سطح کا مقدار معلوم روپ**

(الف) ترخیم $\frac{x^2}{a^2} + \frac{y^2}{b^2} = 1$ (حصہ ۱۰.۴ میں مثال ۱۰.۱۷) کا مقدار معلوم روپ $x = a\cos\phi$ ، $y = b\sin\phi$ جہاں $0 \leq \phi \leq 2\pi$ ہے دیا گیا۔ کروی محدد کے زاویات θ اور ϕ استعمال کرتے ہوئے ثابت کریں ترخیم $\frac{x^2}{a^2} + \frac{y^2}{b^2} + \frac{z^2}{c^2} = 1$ کا مقدار معلوم روپ درج ذیل ہے۔

$$\boldsymbol{r}(\theta,\phi) = a\sin\theta\cos\phi\,\boldsymbol{i} + b\sin\theta\sin\phi\,\boldsymbol{j} + c\cos\theta\,\boldsymbol{k}$$

(ب) ترخیمی سطح کے رقبے کا تکمل لکھیں، لیکن اسے حل نہ کریں۔

سوال ۱۵.۲۷۰: **یک ورقی قطع زائد سطح**

(الف) یک ورقی قطع زائد سطح $x^2 + y^2 - z^2 = 1$ کا مقدار معلوم روپ دائرہ $x^2 + y^2 = r^2$ سے وابسطہ زاویہ ϕ اور ہذلولی تفاعل $r^2 - z^2 = 1$ سے وابسطہ ہذلولی مقدار معلوم u استعمال کر کے حاصل کریں۔(حصہ ۱۰.۷ میں سوال ۷.۶۹۹ سے رجوع کریں۔)

(ب) جزو الف کے نتیجہ کو درج ذیل کے لئے عمومی بنائیں۔

$$\frac{x^2}{a^2} + \frac{y^2}{b^2} - \frac{z^2}{c^2} = 1$$

سوال ۱۵.۲۷۱: **گزشتہ سوال کو آگے بڑھاتے ہیں۔** قطع زائد سطح $x^2 + y^2 - z^2 = 25$ کے مماسی مستوی کی کارتیسی مساوات اس نقطہ (x_0, y_0, z_0) پر تلاش کریں جہاں $x_0^2 + y_0^2 = 25$ ہو۔

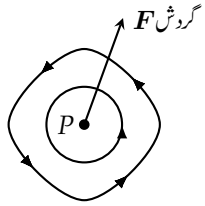

شکل ۱۵.۶۸: سیال کے تین ابعادی بہاؤ میں مستوی میں نقطہ P پر دائری بہاؤ سمتیہ۔ دھیان رہے کہ دائری لکیر کے ساتھ اس کا دائیں ہاتھ کا تعلق ہے۔

سوال ۱۵.۲۷۲: **دو ورقی قطع زائد سطح** دو ورقی قطع زائد سطح $\frac{z^2}{c^2} - \frac{x^2}{a^2} - \frac{y^2}{b^2} = 1$ کا مقدار معلوم روپ تلاش کریں۔

۱۵.۷ مسئلہ سٹوکس

ہم نے حصہ ۱۵.۴ میں دیکھا کہ دو بعدی میدان $\boldsymbol{F} = M\boldsymbol{i} + N\boldsymbol{j}$ میں نقطہ (x, y) پر کثافت دائری بہاؤ یعنی گردش کو غیر سمتی مقدار $\frac{\partial N}{\partial x} - \frac{\partial M}{\partial y}$ بیان کرتا ہے۔ تین ابعاد میں مستوی میں نقطہ P کے گرد دائری بہاؤ کو سمتیہ کے ذریعے بیان کیا جاتا ہے۔ یہ سمتیہ دائری بہاؤ کے مستوی کو عمودی ہو گا (شکل ۱۵.۶۸)، اور سمتیہ کا رخ دائری بہاؤ کے خط کے ساتھ دائیں ہاتھ کا تعلق رکھے گا۔ سمتیہ کی لمبائی سیال کے گھومنے کی شرح ظاہر کرتی ہے، جو P کے لحاظ سے دائری بہاؤ کا مستوی جھکانے سے عموماً تبدیل ہو گی۔ ہم کیا دیکھتے ہیں کہ جب دائری بہاؤ کا سمتی رفتاری میدان $\boldsymbol{F} = M\boldsymbol{i} + N\boldsymbol{j} + P\boldsymbol{k}$ ہو، زیادہ سے زیادہ دائری بہاؤ کا سمتیہ درج ذیل **گردشی سمتیہ**[۳۱] ہو گا۔

$$\text{گردش}\,\boldsymbol{F} = \left(\frac{\partial P}{\partial y} - \frac{\partial N}{\partial z}\right)\boldsymbol{i} + \left(\frac{\partial M}{\partial z} - \frac{\partial P}{\partial x}\right)\boldsymbol{j} + \left(\frac{\partial N}{\partial x} - \frac{\partial M}{\partial y}\right)\boldsymbol{k} \tag{۱}$$

یہ معلومات ہمیں **مسئلہ سٹوکس**[۳۲] دیتا ہے، جو مسئلہ گرین کی دائری بہاؤ و گردشی روپ کی تین بعدی وسعت ہے۔

دھیان رہے کہ $(\text{گردش}\,\boldsymbol{F}) \cdot \boldsymbol{k} = \frac{\partial N}{\partial x} - \frac{\partial M}{\partial y}$ اور $\boldsymbol{F} = M(x, y)\boldsymbol{i} + N(x, y)\boldsymbol{j}$ کی صورت میں حصہ ۱۵.۴ میں پیش کی گئی تعریف بلا تضاد ہیں۔ مساوات ۱ میں گردش $\boldsymbol{F}$ کا کلیہ عموماً درج ذیل علامتی عامل کے ذریعے لکھا جاتا ہے۔

$$\nabla = \boldsymbol{i}\frac{\partial}{\partial x} + \boldsymbol{j}\frac{\partial}{\partial y} + \boldsymbol{k}\frac{\partial}{\partial z} \tag{۲}$$

---

[۳۱] curlvector
[۳۲] Stokes'Theorem

۲۴۷۱۵ (علامت ∇ کو ہم "ڈیل[۳۳]" پڑھتے ہیں۔) یہ عامل استعمال کر کے گردش $\boldsymbol{F}$ [۳۴] کو ہم $\nabla \times \boldsymbol{F}$ لکھتے ہیں۔

$$\begin{aligned}
\nabla \times \boldsymbol{F} &= \begin{vmatrix} \boldsymbol{i} & \boldsymbol{j} & \boldsymbol{k} \\ \frac{\partial}{\partial x} & \frac{\partial}{\partial y} & \frac{\partial}{\partial z} \\ M & N & P \end{vmatrix} \\
&= \left(\frac{\partial P}{\partial y} - \frac{\partial N}{\partial z}\right)\boldsymbol{i} + \left(\frac{\partial M}{\partial z} - \frac{\partial P}{\partial x}\right)\boldsymbol{j} + \left(\frac{\partial N}{\partial x} - \frac{\partial M}{\partial y}\right)\boldsymbol{k} \\
&= \text{گردش}\,\boldsymbol{F}
\end{aligned}$$

۲۴۷۱۶ مختصراً درج ذیل لکھا جائے گا۔

$$\text{گردش}\,\boldsymbol{F} = \nabla \times \boldsymbol{F} \tag{۳}$$

۲۴۷۱۷ مثال ۱۵.۳۳: گردش $\boldsymbol{F}$ کی تلاش

۲۴۷۱۸ میدان $\boldsymbol{F} = (x^2 - y)\boldsymbol{i} + 4z\boldsymbol{j} + x^2\boldsymbol{k}$ کی گردش تلاش کریں۔

۲۴۷۱۹ **حل:**

$$\begin{aligned}
\text{گردش}\,\boldsymbol{F} &= \nabla \times \boldsymbol{F} \\
&= \begin{vmatrix} \boldsymbol{i} & \boldsymbol{j} & \boldsymbol{k} \\ \frac{\partial}{\partial x} & \frac{\partial}{\partial y} & \frac{\partial}{\partial z} \\ x^2 - y & 4z & x^2 \end{vmatrix} \\
&= \left(\frac{\partial}{\partial y}(x^2) - \frac{\partial}{\partial z}(4z)\right)\boldsymbol{i} - \left(\frac{\partial}{\partial x}(x^2) - \frac{\partial}{\partial z}(x^2 - y)\right)\boldsymbol{j} + \left(\frac{\partial}{\partial x}(4z) - \frac{\partial}{\partial y}(x^2 - y)\right)\boldsymbol{k} \\
&= (0 - 4)\boldsymbol{i} - (2x - 0)\boldsymbol{j} + (0 + 1)\boldsymbol{k} \\
&= -4\boldsymbol{i} - 2x\boldsymbol{j} + \boldsymbol{k}
\end{aligned}$$

۲۴۷۲۰ □

۲۴۷۲۱ ہم دیکھیں گے کہ عامل ∇ کے دیگر استعمال بھی ہیں۔ مثلاً، غیر سمتی تفاعل $f(x, y, z)$ پر لگانے سے **ڈھلوان**[۳۵] حاصل ہو گا۔

$$\nabla f = \frac{\partial f}{\partial x}\boldsymbol{i} + \frac{\partial f}{\partial y}\boldsymbol{j} + \frac{\partial f}{\partial z}\boldsymbol{k}$$

۲۴۷۲۲ اسے ہم "ڈھلوان f "، اور[۳۶] یا "ڈیل f "، کہیں[۳۷] گے۔

---

[۳۳] del
[۳۴] curl
[۳۵] gradient
[۳۶] gradf
[۳۷] delf

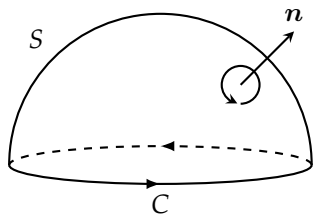

شکل ۱۵.۶۹: تحدیدی منحنی C کی سمت بندی، عمودی میدان $\boldsymbol{n}$ کے ساتھ دائیں ہاتھ کا تعلق رکھتی ہے۔

مسئلہ سٹوکس

مسئلہ سٹوکس[۳۸] کہتا ہے کہ ایسی صورتوں میں جو عملاً عام طور پائی جاتی ہیں، فضا میں سمت بند سطح کی سرحد پر، سطح کے عمودی اکائی سمتیہ $\boldsymbol{n}$ کے لحاظ سے خلاف گھڑی رخ چلتے ہوئے (شکل ۱۵.۶۹)، سمتیہ میدان کا دائری بہاؤ اور سطح پر میدان کی گردش کے عمودی جزو کا تکمل برابر ہوں گے۔

مسئلہ ۱۵.۵: **مسئلہ سٹوکس**

سمت بند سطح S کی سرحد C پر، سطح کے عمودی اکائی سمتیہ $\boldsymbol{n}$ کے لحاظ سے خلاف گھڑی چلتے ہوئے سمتیہ میدان $\boldsymbol{F} = M\boldsymbol{i} + N\boldsymbol{j} + P\boldsymbol{k}$ کا دائری بہاؤ S پر $\nabla \times \boldsymbol{F} \cdot \boldsymbol{n}$ کے تکمل کا برابر ہوگا۔

$$\underbrace{\oint_C \boldsymbol{F} \cdot \mathrm{d}\boldsymbol{r}}_{\text{خلاف گھڑی دائری بہاؤ}} = \underbrace{\iint_S (\nabla \times \boldsymbol{F}) \cdot \boldsymbol{n} \, \mathrm{d}\sigma}_{\text{تکمل گردش}} \tag{۴}$$

ہم مساوات ۴ کو دیکھ کر کہہ سکتے ہیں کہ ایسی دو مختلف سمت بند سطحیں S_1 اور S_2 جن کی سرحد C ایک ہو، کے تکمل گردش برابر ہوں گے۔

$$\iint_{S_1} (\nabla \times \boldsymbol{F}) \cdot \boldsymbol{n}_1 \, \mathrm{d}\sigma = \iint_{S_2} (\nabla \times \boldsymbol{F}) \cdot \boldsymbol{n}_2 \, \mathrm{d}\sigma$$

بشرطیکہ اکائی عمودی سمتیات $\boldsymbol{n}_1$ اور $\boldsymbol{n}_2$ سطوح کی درست سمت بندی کرتی ہوں، دونوں تکمل گردش مساوات ۴ کے بائیں ہاتھ کے برابر، لہٰذا ایک دوسرے کے برابر ہوں گے۔

مسئلہ سٹوکس میں موجود تکملات کی وجودیت یقینی بنانے کے لئے $\boldsymbol{F}$ ، C ، اور S پر ریاضیاتی شرائط مسلط ہوں گے۔ درکار عمومی شرائط کہتے ہیں کہ تمام تفاعل، سمتیہ میدان، اور ان کے تفرق استمراری ہوں۔

اگر C مستوی xy میں موجود، خلاف گھڑی سمت بند منحنی ہو، اور R مستوی xy میں ایک خطہ ہو جس کو C گھیرتی ہو، تب $\mathrm{d}\sigma = \mathrm{d}x\,\mathrm{d}y$

---

[۳۸] Stokes'Theorem

شکل ۱۵.۷۰: مسئلہ گرین اور مسئلہ سٹوکس کا موازنہ۔

۲۴۷۳۶ اور درج ذیل ہو گا۔

$$(\nabla \times \boldsymbol{F}) \cdot \boldsymbol{n} = (\nabla \times \boldsymbol{F}) \cdot \boldsymbol{k} = \left(\frac{\partial N}{\partial x} - \frac{\partial M}{\partial y}\right)$$

۲۴۷۳۷ ان حالات میں مساوات سٹوکس درج ذیل صورت اختیار کرتی ہے

$$\oint_C \boldsymbol{F} \cdot \mathrm{d}\boldsymbol{r} = \iint_R \left(\frac{\partial N}{\partial x} - \frac{\partial M}{\partial y}\right) \mathrm{d}x\, \mathrm{d}y$$

۲۴۷۳۸ جو مسئلہ گرین میں موجود مساوات کی دائری بہاؤ و گردشی روپ ہے۔ اسی طرح انہیں قدموں پر الٹ چلتے ہوئے ہم مسئلہ گرین کے دائری بہاؤ و گردشی روپ کو
۲۴۷۳۹ دو بعدی میدان کے لئے درج ذیل "ڈیل" علامتیت میں لکھ سکتے ہیں۔ شکل ۱۵.۷۰ ملاحظہ کریں۔

$$\oint_C \boldsymbol{F} \cdot \mathrm{d}\boldsymbol{r} = \iint_R (\nabla \times \boldsymbol{F}) \cdot \boldsymbol{k}\ \mathrm{d}A \tag{۵}$$

۲۴۷۴۰

۲۴۷۴۱ مثال ۱۵.۳۴: نصف کرہ کے لئے مساوات سٹوکس کی تصدیق

۲۴۷۴۲ نصف کرہ $S\ :\ x^2 + y^2 + z^2 = 9,\ z \geq 0$ کو گھیرنے والے دائرہ $C\ :\ x^2 + y^2 = 9,\ z = 0$ اور میدان
۲۴۷۴۳ $\boldsymbol{F} = y\boldsymbol{i} - x\boldsymbol{j}$ کے لئے مساوات ۴ کی قیمت تلاش کریں۔

۲۴۷۴۴ **حل:** مقدار معلوم روپ $\boldsymbol{r}(\phi) = (3\cos\phi)\boldsymbol{i} + (3\sin\phi)\boldsymbol{j},\ 0 \leq \phi \leq 2\pi$ استعمال کرتے ہوئے اوپر سے نظارہ کرتے
۲۴۷۴۵ ہوئے C کے گرد خلاف گھڑی دائری بہاؤ تلاش کرتے ہیں۔

$$\begin{aligned}
\mathrm{d}\boldsymbol{r} &= -3\sin\phi\ \mathrm{d}\phi\, \boldsymbol{i} + 3\cos\phi\ \mathrm{d}\phi\, \boldsymbol{j} \\
\boldsymbol{F} &= y\boldsymbol{i} - x\boldsymbol{j} = 3\sin\phi\, \boldsymbol{i} - 3\cos\phi\, \boldsymbol{j} \\
\boldsymbol{F} \cdot \mathrm{d}\boldsymbol{r} &= -9\sin^2\phi\ \mathrm{d}\phi - 9\cos^2\phi\ \mathrm{d}\phi = -9\,\mathrm{d}\phi \\
\oint_C \boldsymbol{F} \cdot \mathrm{d}\boldsymbol{r} &= \int_0^{2\pi} -9\ \mathrm{d}\phi = -18\pi
\end{aligned}$$

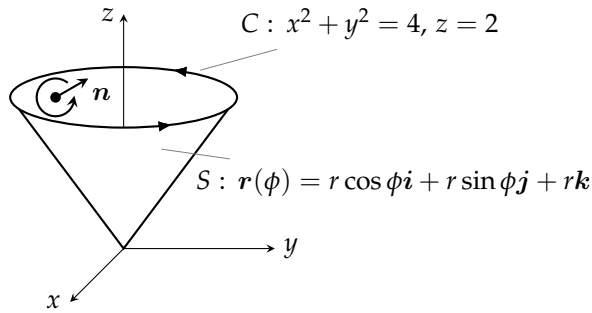

شکل ۱۵.۷۱:۔ منحنی C اور مخروط S برائے مثال ۱۵.۳۵

۲۴۷۴۶ اب $\boldsymbol{F}$ کے لئے تکمل گردش تلاش کرتے ہیں۔

$$\begin{aligned}
\nabla\times\boldsymbol{F} &= \left(\frac{\partial P}{\partial y}-\frac{\partial N}{\partial z}\right)\boldsymbol{i}+\left(\frac{\partial M}{\partial z}-\frac{\partial P}{\partial x}\right)\boldsymbol{j}+\left(\frac{\partial N}{\partial x}-\frac{\partial M}{\partial y}\right)\boldsymbol{k}\\
&= (0-0)\boldsymbol{i}+(0-0)\boldsymbol{j}+(-1-1)\boldsymbol{k}=-2\boldsymbol{k}\\
\boldsymbol{n} &= \frac{x\boldsymbol{i}+y\boldsymbol{j}+z\boldsymbol{k}}{\sqrt{x^2+y^2+z^2}}=\frac{x\boldsymbol{i}+y\boldsymbol{j}+z\boldsymbol{k}}{3} && \text{بیرونی اکائی عمودی سمتیہ}\\
\mathrm{d}\sigma &= \frac{3}{z}\,\mathrm{d}A && \text{حصہ ۱۵.۵ کی مثال ۱۵.۲۴ میں } a=3\\
\nabla\times\boldsymbol{F}\cdot\boldsymbol{n}\,\mathrm{d}\sigma &= -\frac{2z}{3}\frac{3}{z}\,\mathrm{d}A=-2\,\mathrm{d}A
\end{aligned}$$

۲۴۷۴۷ یوں درج ذیل ہو گا۔

$$\iint\limits_S(\nabla\times\boldsymbol{F})\cdot\boldsymbol{n}\ \mathrm{d}\sigma=\iint\limits_{x^2+y^2\le 9}-2\ \mathrm{d}A=-18\pi$$

۲۴۷۴۸ دائرے کے ہمراہ دائری بہاو اور نصف کرہ پر گردش کا تکمل برابر ہیں، جیسا کہ ہونا چاہیے۔ □

۲۴۷۴۹ مثال ۱۵.۳۵: دائری بہاؤ کی تلاش

۲۴۷۵۰ مستوی $z=2$ مخروط $z=\sqrt{x^2+y^2}$ سے منحنی C پر ملتا ہے۔ اس منحنی پر، اوپر سے دیکھتے ہوئے خلاف گھڑی (شکل ۱۵.۷۱)، میدان

۲۴۷۵۱ $\boldsymbol{F}=(x^2-y)\boldsymbol{i}+4z\boldsymbol{j}+x^2\boldsymbol{k}$ کا، دائری بہاؤ تلاش کریں۔

۲۴۷۵۲ **حل:** مسئلہ سٹوکس کے استعمال سے ہم دائری بہاؤ سطح پر تکمل سے حاصل کرتے ہیں۔ اوپر سے دیکھتے ہوئے C پر گھڑی خلاف چلنا اندرونی عمود $\boldsymbol{n}$ لینے

۲۴۷۵۳ کے مترادف ہے جس کا z جزو مثبت ہو گا۔ ہم مخروط کا مقدار معلوم روپ لکھتے ہیں۔

$$\boldsymbol{r}(r,\phi) = r\cos\phi\,\boldsymbol{i} + r\sin\phi\,\boldsymbol{j} + r\,\boldsymbol{k}, \quad 0 \le r \le 2,\ 0 \le \phi \le 2\pi$$

۲۴۷۵۴ اس طرح درج ذیل ہو گا۔

$$\begin{aligned}
\boldsymbol{n} &= \frac{\boldsymbol{r}_r \times \boldsymbol{r}_\phi}{|\boldsymbol{r}_r \times \boldsymbol{r}_\phi|} = \frac{-r\cos\phi\,\boldsymbol{i} - r\sin\phi\,\boldsymbol{j} + r\,\boldsymbol{k}}{r\sqrt{2}} && \text{حصہ ۱۵.۶ مثال ۱۵.۲۸} \\
&= \frac{-\cos\phi\,\boldsymbol{i} - \sin\phi\,\boldsymbol{j} + \boldsymbol{k}}{\sqrt{2}} \\
\mathrm{d}\sigma &= r\sqrt{2}\ \mathrm{d}r\ \mathrm{d}\phi && \text{حصہ ۱۵.۶ مثال ۱۵.۲۸} \\
\nabla \times \boldsymbol{F} &= -4\boldsymbol{i} - 2x\boldsymbol{j} + \boldsymbol{k} && \text{مثال ۱۵.۳۳} \\
&= -4\boldsymbol{i} - 2r\cos\phi\,\boldsymbol{j} + \boldsymbol{k} && x = r\cos\phi
\end{aligned}$$

۲۴۷۵۵ یوں

$$\begin{aligned}
(\nabla \times \boldsymbol{F}) \cdot \boldsymbol{n} &= \frac{1}{\sqrt{2}}\left(4\cos\phi + 2r\cos\phi\sin\phi + 1\right) \\
&= \frac{1}{\sqrt{2}}\left(4\cos\phi + r\sin 2\phi + 1\right)
\end{aligned}$$

۲۴۷۵۶ اور دائری بہاؤ درج ذیل ہو گا۔

$$\begin{aligned}
\oint_C \boldsymbol{F} \cdot \mathrm{d}\boldsymbol{r} &= \iint_S (\nabla \times \boldsymbol{F}) \cdot \boldsymbol{n}\ \mathrm{d}\sigma && \text{مسئلہ سٹوکس مساوات ۴} \\
&= \int_0^{2\pi}\int_0^{2} \frac{1}{\sqrt{2}}\left(4\cos\phi + r\sin 2\phi + 1\right)\left(\sqrt{2}\,r\ \mathrm{d}r\ \mathrm{d}\phi\right) = 4\pi
\end{aligned}$$

۲۴۷۵۷ □

۲۴۷۵۸ $\nabla \times \boldsymbol{F}$ کی چپو چرخی سے تشبیہ

۲۴۷۵۹ فرض کریں حرکت پذیر سیال کی رفتار $\boldsymbol{v}(x,y,z)$ اور نقطہ (x,y,z) پر اس کی کثافت $\delta(x,y,z)$ ہے۔ مزید فرض کریں $\boldsymbol{F} = \delta\boldsymbol{v}$
۲۴۷۶۰ ہے۔ ایسی صورت میں بند منحنی C کے ہمراہ سیال کا دائری بہاؤ درج ذیل ہو گا۔

$$\oint_C \boldsymbol{F} \cdot \mathrm{d}\boldsymbol{r}$$

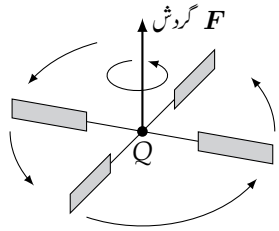

شکل ۱۵.۷۲: گردش $\boldsymbol{F}$ کی چپوچرخی سے تشبیہ۔

۲۴۷۶۱ مسئلہ سٹوکس کے مطابق یہ دائری بہاؤ، C میں محیط سطح S سے گزرتا $\nabla \times \boldsymbol{F}$ کے بہاؤ کا برابر ہو گا۔

$$\oint_C \boldsymbol{F} \cdot \mathrm{d}\boldsymbol{r} = \iint_S (\nabla \times \boldsymbol{F}) \cdot \boldsymbol{n} \, \mathrm{d}\delta$$

۲۴۷۶۲ ہم $\boldsymbol{F}$ کے دائرہ کار میں اٹل نقطہ Q ،اور اس نقطہ پر مخصوص سمت $\boldsymbol{u}$ منتخب کرتے ہیں۔ فرض کریں C ایک دائرہ ہے جس کا رداس ρ اور مرکز Q
۲۴۷۶۳ ہے اور جس کا مستوی $\boldsymbol{u}$ کو عمودی ہے۔ اگر Q پر $\nabla \times \boldsymbol{F}$ استمراری ہو، C میں محیط دائری قرص S پر $\nabla \times \boldsymbol{F}$ کے $\boldsymbol{u}$ ویں جزو کی اوسط
۲۴۷۶۴ قیمت $\rho \to 0$ کی صورت میں Q پر $\nabla \times \boldsymbol{F}$ کے $\boldsymbol{u}$ ویں جزو کو پہنچے گی۔

$$(\nabla \times \boldsymbol{F} \cdot \boldsymbol{u})_Q = \lim_{\rho \to 0} \frac{1}{\pi \rho^2} \iint_S (\nabla \times \boldsymbol{F}) \cdot \boldsymbol{u} \, \mathrm{d}\sigma$$

۲۴۷۶۵ آخری مساوات میں سطحی تکمل کی جگہ دائری بہاؤ لکھ کر درج ذیل حاصل ہو گا۔

$$(\nabla \times \boldsymbol{F} \cdot \boldsymbol{u})_Q = \lim_{\rho \to 0} \frac{1}{\pi \rho^2} \oint_C \boldsymbol{F} \cdot \mathrm{d}\boldsymbol{r} \tag{۶}$$

۲۴۷۶۶ مساوات ۶ کے بائیں ہاتھ کی قیمت اس صورت زیادہ سے زیادہ ہو گی جب $\boldsymbol{u}$ کا رخ، $\nabla \times \boldsymbol{F}$ کی سمت میں ہو۔ چھوٹے ρ کے لئے مساوات ۶ کے دائیں
۲۴۷۶۷ ہاتھ کا حد تخمیناً درج ذیل ہو گا، جو C کے ہمراہ دائری بہاؤ تقسیم رقبہ قرص (دائری بہاؤ کی کثافت) ہے۔

$$\frac{1}{\pi \rho^2} \oint_C \boldsymbol{F} \cdot \mathrm{d}\boldsymbol{r}$$

۲۴۷۶۸ فرض کریں Q پر رداس ρ کی چپوچرخی رکھی جاتی ہے جس کا دھرا $\boldsymbol{u}$ کے ہمراہ ہے۔ سیال کا C کے ہمراہ دائری بہاؤ چپوچرخی کے گھومنے کی رفتار پر اثر
۲۴۷۶۹ انداز ہو گا۔ جب دائری بہاؤ تکمل کی قیمت زیادہ سے زیادہ ہو اس صورت چپوچرخی تیز سے تیز گھومے گی؛ یوں جب دھرا $\nabla \times \boldsymbol{F}$ کے رخ ہو، چپوچرخی تیز
۲۴۷۷۰ سے تیز گھومے گی (شکل ۱۵.۷۲)۔

۲۴۷۷۱ مثال ۱۵.۳۶: کثافت دائری بہاؤ اور $\nabla \times \boldsymbol{F}$ کا تعلق

۲۴۷۷۲ اٹل کثافت کا سیال محور z کے گرد $\boldsymbol{v} = \omega(-y\boldsymbol{i} + x\boldsymbol{j})$ سمتی رفتار سے گھوم رہا ہے جہاں ω ایک مثبت مستقل جس کو گھومنے کا **زاویائی**
۲۴۷۷۳ **رفتار** کہتے ہیں (شکل ۱۵.۷۳)۔ اگر $\boldsymbol{F} = \boldsymbol{v}$ ہو، $\nabla \times \boldsymbol{F}$ کیا ہو گا اور کثافت دائری بہاؤ کے ساتھ اس کا تعلق کیا ہو گا؟

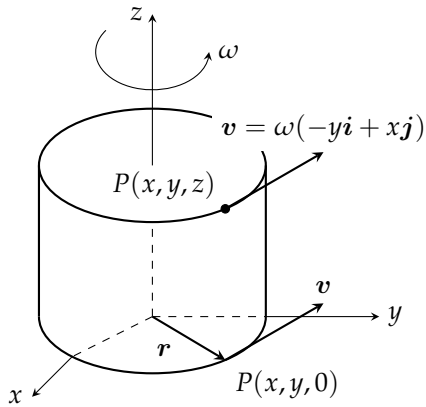

شکل ۱۵.۷۳: مستوی xy میں مثبت (خلاف گھڑی) مستقل زاویائی سمتی رفتار ω کے ساتھ، مستوی xy کے متوازی سیال برقرار گھوم رہا ہے (مثال ۱۵.۳۶)۔

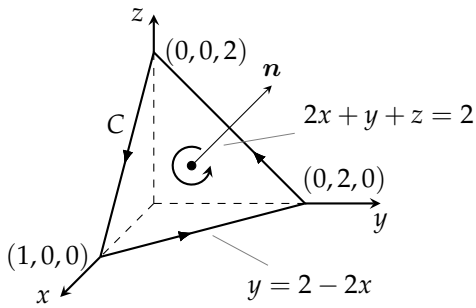

شکل ۱۵.۷۴: مسطح سطح برائے مثال ۱۵.۳۷

۲۴۷۷۴ **حل:** چونکہ $\boldsymbol{F} = \boldsymbol{v} = -\omega y\boldsymbol{i} + \omega x\boldsymbol{j}$ ہے لہٰذا درج ذیل ہو گا۔

$$\begin{aligned}\nabla \times \boldsymbol{F} = \nabla \times \boldsymbol{F} &= \left(\frac{\partial P}{\partial y} - \frac{\partial N}{\partial z}\right)\boldsymbol{i} + \left(\frac{\partial M}{\partial z} - \frac{\partial P}{\partial x}\right)\boldsymbol{j} + \left(\frac{\partial N}{\partial x} - \frac{\partial M}{\partial y}\right)\boldsymbol{k} \\ &= (0-0)\boldsymbol{i} + (0-0)\boldsymbol{j} + (\omega - (-\omega))\boldsymbol{k} = 2\omega\boldsymbol{k}\end{aligned}$$

۲۴۷۷۵ مسئلہ سٹوکس کے مطابق، رداس ρ کے دائرہ C کے ہمراہ، جو مستوی مثلاً مستوی xy میں قرص S کا احاطہ کرتا ہو، کے ہمراہ $\boldsymbol{F}$ کا دائری بہاؤ درج ذیل
۲۴۷۷۶ ہو گا۔

$$\oint_C \boldsymbol{F} \cdot \mathrm{d}\boldsymbol{r} = \iint_S (\nabla \times \boldsymbol{F}) \cdot \boldsymbol{n}\ \mathrm{d}\sigma = \iint_S 2\omega\boldsymbol{k} \cdot \boldsymbol{k}\ \mathrm{d}x\,\mathrm{d}y = (2\omega)(\pi\rho^2)$$

۲۴۷۷۷ یوں درج ذیل ہو گا جو $\boldsymbol{u} = \boldsymbol{k}$ لیتے ہوئے مساوات ۶ کے عین مطابق ہے۔

$$(\nabla \times \boldsymbol{F}) \cdot \boldsymbol{k} = 2\omega = \frac{1}{\pi\rho^2} \oint_C \boldsymbol{F} \cdot \mathrm{d}\boldsymbol{r}$$

۲۴۷۷۸ □

۲۴۷۷۹ مثال ۱۵.۳۷: مسئلہ سٹوکس کا اطلاق

۲۴۷۸۰ اوپر سے نظارہ کرتے ہوئے شُمن اول میں واقع مستوی $2x+y+z=2$ کے ایک ٹکڑے کی سرحد C پر خلاف گھڑی چل کر $\int_C \boldsymbol{F}\cdot \mathrm{d}\boldsymbol{r}$ کی

۲۴۷۸۱ قیمت مسئلہ سٹوکس استعمال کرتے ہوئے تلاش کریں، جہاں $\boldsymbol{F}=xz\boldsymbol{i}+xy\boldsymbol{j}+3xz\boldsymbol{k}$ ہے (شکل ۱۵.۷۴)۔

۲۴۷۸۲ **حل:** یہ مستوی تفاعل $f(x,y,z)=2x+y+z$ کی ہم قد سطح $f(x,y,z)=2$ ہے۔ اس کا اکائی عمودی سمتیہ

$$\boldsymbol{n}=\frac{\nabla f}{|\nabla f|}=\frac{2\boldsymbol{i}+\boldsymbol{j}+\boldsymbol{k}}{|2\boldsymbol{i}+\boldsymbol{j}+\boldsymbol{k}|}=\frac{1}{\sqrt{6}}(2\boldsymbol{i}+\boldsymbol{j}+\boldsymbol{k})$$

۲۴۷۸۳ سرحد C پر خلاف گھڑی حرکت کے عین مطابق ہے۔ مسئلہ سٹوکس استعمال کرنے کے لئے درج ذیل حاصل کرنے ہیں۔

$$\boldsymbol{F}\text{ گردش}=\nabla\times\boldsymbol{F}=\begin{vmatrix}\boldsymbol{i} & \boldsymbol{j} & \boldsymbol{k}\\ \frac{\partial}{\partial x} & \frac{\partial}{\partial y} & \frac{\partial}{\partial z}\\ xz & xy & 3xz\end{vmatrix}=(x-3z)\boldsymbol{j}+y\boldsymbol{k}$$

۲۴۷۸۴ مستوی پر $z=2-2x-y$ ہے لہٰذا

$$\nabla\times\boldsymbol{F}=(x-3(2-2x-y))\boldsymbol{j}+y\boldsymbol{k}=(7x+3y-6)\boldsymbol{j}+y\boldsymbol{k}$$

۲۴۷۸۵ اور

$$(\nabla\times\boldsymbol{F})\cdot\boldsymbol{n}=\frac{1}{\sqrt{6}}(7x+3y-6+y)=\frac{1}{\sqrt{6}}(7x+4y-6)$$

۲۴۷۸۶ ہو گا۔ سطحی رقبے کا چھوٹا ٹکڑا درج ذیل ہو گا۔

$$\mathrm{d}\sigma=\frac{|\nabla f|}{|\nabla f\cdot\boldsymbol{k}|}\,\mathrm{d}A=\frac{\sqrt{6}}{1}\,\mathrm{d}x\,\mathrm{d}y=\sqrt{6}\,\mathrm{d}x\,\mathrm{d}y$$

۲۴۷۸۷ دائری بہاؤ درج ذیل ہو گا۔

$$\begin{aligned}\oint_C \boldsymbol{F}\cdot\mathrm{d}\boldsymbol{r}&=\iint_S \nabla\times\boldsymbol{F})\cdot\boldsymbol{n}\,\mathrm{d}\sigma && \text{مسئلہ سٹوکس، مساوات ۴}\\ &=\int_0^1\int_0^{2-2x}\frac{1}{\sqrt{6}}(7x+4y-6)\sqrt{6}\,\mathrm{d}y\,\mathrm{d}x=-1\end{aligned}$$

۲۴۷۸۸ □

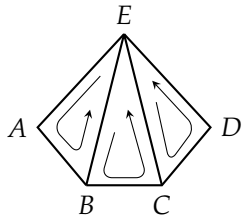

شکل ۱۵.۷۵: کثیر سطحی کا کچھ حصہ۔

کثیر سطحی سطح کے لئے مسئلہ سٹوکس کا ثبوت

فرض کریں S کثیر سطحی سطح ہے جو محدود تعداد کے مسطح حصوں پر مشتمل ہے (مثلاً شکل ۱۵.۷۵)۔ ہم S کے علیحدہ علیحدہ تختی حصوں پر مسئلہ گرین کا اطلاق کرتے ہیں۔ تختیوں کی دو قسمیں ہیں۔

۱. وہ جن کو ہر طرف سے دوسرے تختی گھیرتے ہوں۔

۲. وہ جن کا ایک یا ایک سے زیادہ ضلع کسی دوسرے تختی سے متصل نہ ہو۔

سطح S کی سرحد Δ ، دوسری (۲) قسم کی مستویات کے ان کناروں پر مشتمل ہے جو دوسری مستویات سے متصل نہیں۔ شکل ۱۵.۷۵ میں مثلثات EAB ، BCE ، اور CDE سطح S کے کچھ حصے کو ظاہر کرتے ہیں جبکہ $ABCD$ سرحد Δ کے کچھ حصے کو ظاہر کرتا ہے۔ تینوں مثلثات پر بالترتیب مسئلہ گرین کا اطلاق کر کے نتائج جمع کر کے درج ذیل حاصل ہو گا۔

$$\left(\oint_{EAB} + \oint_{BCE} + \oint_{CDE}\right) \boldsymbol{F}\cdot \mathrm{d}\boldsymbol{r} = \left(\iint_{EAB} + \iint_{BCE} + \iint_{CDE}\right) \nabla\times\boldsymbol{F}\cdot\boldsymbol{n}\ \mathrm{d}\sigma \tag{۷}$$

چونکہ مساوات ۷ میں بائیں ہاتھ کے تین لکیری تکملات میں اندرونی (متصل مثلثات کے مشترک) اضلاع پر لکیری تکملات کے جوڑے ایک دوسرے کو کاٹتے ہیں لہٰذا تینوں مل کر کنارہ $ABCDE$ پر واحد ایک تکمل دیتے ہیں۔ مثال کے طور پر مثلث ABE کے ضلع BE پر لکیری تکمل کی علامت $(\pm)$ مثلث EBC کے اسی ضلع پر لکیری تکمل کی علامت $(\mp)$ کی الٹ ہو گی۔ ضلع CE پر بھی ایسا ہو گا۔ یوں مساوات ۷ گھٹ کر درج ذیل روپ اختیار کرتی ہے۔

$$\oint_{ABCDE} \boldsymbol{F}\cdot \mathrm{d}\boldsymbol{r} = \iint_{ABCDE} \nabla\times\boldsymbol{F}\cdot\boldsymbol{n}\ \mathrm{d}\sigma$$

تمام تختوں پر مسئلہ گرین کا اطلاق کر کے درج ذیل حاصل ہو گا جو درحقیقت کثیر سطحی کی سطح S کا مسئلہ سٹوکس ہے۔ زیادہ عمومی سطوح کے لئے ثبوت آپ کو اعلیٰ نصاب میں ملیں گے۔

$$\oint_{\Delta} \boldsymbol{F}\cdot \mathrm{d}\boldsymbol{r} = \iint_{S} \nabla\times\boldsymbol{F}\cdot\boldsymbol{n}\ \mathrm{d}\sigma$$

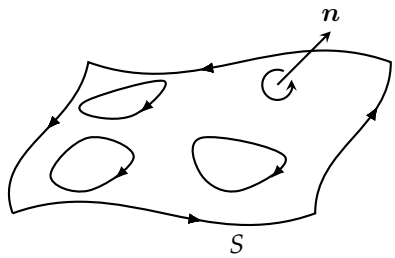

شکل ۱۵.۷۶: سوراخ دار سمت بند سطوح پر بھی مسئلہ سٹوکس کا اطلاق ہوتا ہے۔

مسئلہ سٹوکس برائے سوراخ دار سطوح

مسئلہ گرین کو وسعت دینے کے طرز پر، مسئلہ سٹوکس کو ایسی سمت بند سطح S تک وسعت دی جا سکتی ہے جس میں ایک یا ایک سے زیادہ سوراخ ہوں (شکل ۱۵.۷۶)۔ سطح S پر $\nabla \times \boldsymbol{F}$ کے عمودی جزو کا سطحی تکمل اور تمام سرحدی منحنیات پر $\boldsymbol{F}$ کے مماسی جزو کے لکیری تکملات کا مجموعہ ایک دوسرے کے برابر ہو گا، جہاں S کی سمت بندی کو مد نظر رکھ کر منحنیات پر چلنا ہو گا۔

ایک اہم تماثل

ریاضیات اور طبیعی سائنس میں درج ذیل تماثل بار بار پیش آتا ہے۔

$$\text{گردش ڈھلوان } f = \mathbf{0} \qquad \nabla \times \nabla f = \mathbf{0} \tag{۸}$$

یہ تماثل جو ہر اس تفاعل $f(x, y, z)$ کے لئے کارآمد ہے جس کے دوہرے جزوی تفرق استمراری ہوں، کہتا ہے کہ تفاعل $f(x, y, z)$ کے ڈھلوان کی گردش صفر ہو گی۔ اس کا ثبوت درج ذیل ہے۔

$$\nabla \times \nabla f = \begin{vmatrix} \boldsymbol{i} & \boldsymbol{j} & \boldsymbol{k} \\ \frac{\partial}{\partial x} & \frac{\partial}{\partial y} & \frac{\partial}{\partial z} \\ \frac{\partial f}{\partial x} & \frac{\partial f}{\partial y} & \frac{\partial f}{\partial z} \end{vmatrix} = (f_{zy} - f_{yz})\boldsymbol{i} - (f_{zx} - f_{xz})\boldsymbol{j} + (f_{yx} - f_{xy})\boldsymbol{k}$$

ثانی جزوی تفرق استمراری ہونے کی صورت میں قوسین میں بند مختلف اقسام کے ثانی تفرق برابر ہوں گے (حصہ ۱۳.۳، مسئلہ ۱۳.۲) لہٰذا سمتیہ صفر ہو گا۔

بقائی میدان اور مسئلہ سٹوکس

ہم نے حصہ ۱۵.۳ میں دیکھا کہ کھلے خطہ D میں میدان $\boldsymbol{F}$ کا بقائی ہونا اس کے مترادف ہے کہ D میں ہر بند راہ پر $\boldsymbol{F}$ کا لکیری تکمل صفر ہو۔ یہ از خود، سادہ تعلق خطوں میں، اس کے مترادف ہے کہ $\nabla \times \boldsymbol{F} = \mathbf{0}$ ہو۔

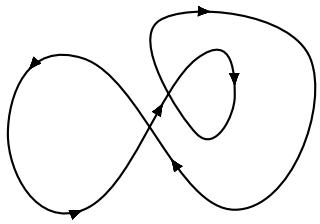

شکل ۱۵.۷۷: فضا میں سادہ تعلق خطہ میں، قابل تفرق منحنیات جو خود کو کاٹتی ہوں کو بند رگھیروں میں تقسیم کیا جا سکتا ہے جن پر مسئلہ سٹوکس کا اطلاق ہوتا ہے۔

۲۴۸۱۵ مسئلہ ۱۵.۶: **$\nabla \times \boldsymbol{F} = \boldsymbol{0}$ اور بند حلقہ کی خاصیت کا تعلق**

۲۴۸۱۶ اگر فضا میں سادہ تعلق آزاد خطہ D کے ہر نقطہ پر $\nabla \times \boldsymbol{F} = \boldsymbol{0}$ ہو تب D میں ٹکڑوں میں ہموار و بند راہ C پر درج ذیل ہو گا۔

$$\oint_C \boldsymbol{F} \cdot \mathrm{d}\boldsymbol{r} = 0$$

۲۴۸۱۷ ثبوت: **خاکہ** مسئلہ ۱۵.۶ کا ثبوت عموماً دو مراحل میں کیا جاتا ہے۔ پہلا مرحلہ سادہ بند منحنیات کے لیے ہو گا۔ اعلیٰ ریاضیات کی ایک شاخ **ربڑی**
۲۴۸۱۸ **ہندسہ**[۳۹] کا ایک مسئلہ کہتا ہے کہ سادہ تعلق کھلے خطہ D میں ہر قابل تفرق سادہ بند منحنی C ایک ہموار دو طرفہ سطح S، جو D میں پائی جاتی ہو، کی سرحد
۲۴۸۱۹ ہو گی۔ یوں مسئلہ سٹوکس کے تحت درج ذیل ہو گا۔

$$\oint_C \boldsymbol{F} \cdot \mathrm{d}\boldsymbol{r} = \iint_S (\nabla \times \boldsymbol{F}) \cdot \boldsymbol{n} \, \mathrm{d}\sigma = 0$$

۲۴۸۲۰ دوسرا مرحلہ اُن منحنیات کے لیے ہے جو خود کو کاٹتی ہیں، جیسے کہ شکل ۱۵.۷۷ میں دکھائی گئی ہے۔ ایسی منحنیات کو سادہ حلقات، جن کا احاطہ قابل سمت بند
۲۴۸۲۱ سطوح کرتی ہوں، میں تقسیم کر کے باری باری ایک ایک حلقہ پر مسئلہ سٹوکس کا اطلاق کر کے نتائج کا مجموعہ لیا جاتا ہے۔

۲۴۸۲۲ □

۲۴۸۲۳ تعلق دار، سادہ تعلق کھلے خطوں پر معین بقائی میدان کے لئے حاصل نتائج کا نچوڑ درج ذیل شکل میں پیش کیا گیا ہے۔

---

[۳۹] topology

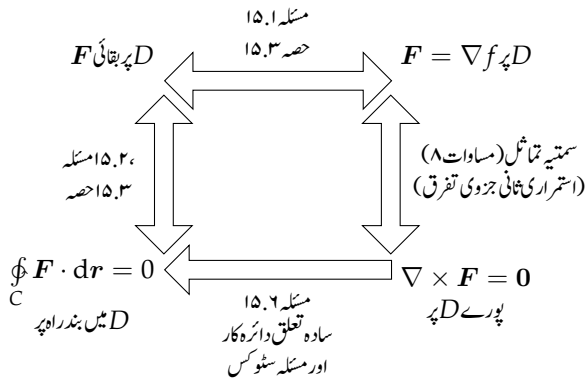

سوالات

مسئلہ سٹوکس کے ذریعہ دائری بہاؤ کی قیمت کا حصول

سوال ۱۵.۲۷۳ تا ۱۵.۲۷۸ میں مسئلہ سٹوکس استعمال کرتے ہوئے منحنی C کے ہمراہ دی گئی سمت میں میدان $\boldsymbol{F}$ کے دائری بہاؤ کی قیمت تلاش کریں۔

سوال ۱۵.۲۷۳: $\boldsymbol{F} = x^2\,\boldsymbol{i} + 2x\,\boldsymbol{j} + z^2\,\boldsymbol{k}$

مستوی xy میں C ترخیم $4x^2 + y^2 = 4$ ہے جو اوپر سے دیکھتے ہوئے خلاف گھڑی ہے۔

سوال ۱۵.۲۷۴: $\boldsymbol{F} = 2y\,\boldsymbol{i} + 3x\,\boldsymbol{j} - z^2\,\boldsymbol{k}$

مستوی xy میں C دائرہ $x^2 + y^2 = 9$ ہے جو اوپر سے دیکھتے ہوئے خلاف گھڑی ہے۔

سوال ۱۵.۲۷۵: $\boldsymbol{F} = y\,\boldsymbol{i} + xz\,\boldsymbol{j} + x^2\,\boldsymbol{k}$

مستوی $x + y + z = 1$ سے شُمن اول مثلث کاٹتا ہے جس کی سرحد C ہے جو اوپر سے دیکھتے ہوئے خلاف گھڑی ہے۔

سوال ۱۵.۲۷۶: $\boldsymbol{F} = (y^2 + z^2)\,\boldsymbol{i} + (x^2 + z^2)\,\boldsymbol{j} + (x^2 + y^2)\,\boldsymbol{k}$

مستوی $x + y + z = 1$ سے شُمن اول مثلث کاٹتا ہے جس کی سرحد C ہے جو اوپر سے دیکھتے ہوئے خلاف گھڑی ہے۔

سوال ۱۵.۲۷۷: $\boldsymbol{F} = (y^2 + z^2)\,\boldsymbol{i} + (x^2 + y^2)\,\boldsymbol{j} + (x^2 + y^2)\,\boldsymbol{k}$

مستوی xy میں خطوط $x = \pm 1$ اور $y = \pm 1$ ایک مربع C گھیرتے ہیں جو اوپر سے دیکھتے ہوئے خلاف گھڑی ہے۔

سوال ۱۵.۲۷۸: $\boldsymbol{F} = x^2y^3\,\boldsymbol{i} + \boldsymbol{j} + z\,\boldsymbol{k}$

بیلن $x^2 + y^2 = 4$ اور نصف کرہ $z \geq 0$ کے تقاطع سے حاصل منحنی C جو اوپر سے دیکھتے ہوئے $x^2 + y^2 + z^2 = 16,$

خلاف گھڑی ہے۔

گردش کا بہاؤ

سوال ۱۵.۲۷۹: بیضوی خول $4x^2 + 9y^2 + 36z^2 = 36,\ z \geq 0$: S کا بیرونی اکائی عمودی سمتیہ $\boldsymbol{n}$ ہے۔ میدان $\boldsymbol{F} = y\,\boldsymbol{i} + x^2\,\boldsymbol{j} + \left(x^2 + y^4\right)^{3/2} \sin\left(e^{\sqrt{xyz}}\right)\boldsymbol{k}$ کے لئے تکمل $\iint\limits_S \nabla \times \boldsymbol{F} \cdot \boldsymbol{n}\,\mathrm{d}\sigma$ کی قیمت تلاش کریں۔(اشارہ: بیضوی خول کے تل پر ایک مقدار معلوم روپ $x = 3\cos t$ ، $y = 2\sin t$ ، $0 \leq t \leq 2\pi$ ہے۔)

سوال ۱۵.۲۸۰: قطع مکافی خول $4x^2 + y + z^2 = 4,\ y \geq 0$: S کا بیرونی (مبدا سے دوری کی جانب) اکائی عمودی سمتیہ $\boldsymbol{n}$ ہے۔ درج ذیل میدان

$$\boldsymbol{F} = \left(-z + \frac{1}{2+x}\right)\boldsymbol{i} + (\tan^{-1} y)\boldsymbol{j} + \left(x + \frac{1}{4+z}\right)\boldsymbol{k}$$

کے لئے تکمل $\iint\limits_S \nabla \times \boldsymbol{F} \cdot \boldsymbol{n}\,\mathrm{d}\sigma$ کی قیمت تلاش کریں۔

سوال ۱۵.۲۸۱: فرض کریں سطح S بیلن $x^2 + y^2 = a^2,\ 0 \leq z \leq h$ اور اس کا بالائی ڈھکن $x^2 + y^2 \leq a^2,\ z = h$ پر مشتمل ہے۔ میدان $\boldsymbol{F} = -y\boldsymbol{i} + x\boldsymbol{j} + x^2\boldsymbol{k}$ کے لئے سطح S سے $\nabla \times \boldsymbol{F}$ کا باہر رخ بہاؤ تلاش کریں۔

سوال ۱۵.۲۸۲: درج ذیل تکمل کا حساب کریں جہاں S نصف کرہ $x^2 + y^2 + z^2 = 1,\ z \geq 0$ ہے۔

$$\iint\limits_S \Big(\nabla \times (y\boldsymbol{i})\Big) \cdot \boldsymbol{n}\ \mathrm{d}\sigma$$

سوال ۱۵.۲۸۳: **گردش $\boldsymbol{F}$ کا بہاؤ**

دکھائیں کہ ان تمام سمت بند سطوح S کے لئے، جو C کا احاطہ ہوں اور جن کا C پر مثبت رخ ایک ہو، درج ذیل تکمل کی قیمتیں برابر ہوں گی۔

$$\iint\limits_S (\nabla \times \boldsymbol{F}) \cdot \boldsymbol{n}\ \mathrm{d}\sigma$$

سوال ۱۵.۲۸۴: فرض کریں $\boldsymbol{F}$ قابل سمت بند سمتی میدان ہے جو ایسے خطے پر معین ہے جس میں ایک ہموار بند سمت بند سطح S اور اس کا اندرونی حصہ شامل ہیں۔ سطح S پر اکائی عمودی سمتیہ میدان $\boldsymbol{n}$ ہے۔ مزید فرض کریں کہ S، دو سطحوں S_1 اور S_2 کا مجموعہ ہے جو آپس میں ایک ہموار سادہ بند منحنی C پر جڑی ہوئی

۲۳۸۶۲ ہیں۔ کیا درج ذیل کے بارے میں کچھ کہا جا سکتا ہے؟

$$\iint\limits_S (\nabla \times \boldsymbol{F}) \cdot \boldsymbol{n}\, \mathrm{d}\sigma$$

۲۳۸۶۳ اپنے جواب کی وجوہات بیان کریں۔

۲۳۸۶۴

مقدار معلوم سطوح کے لئے مسئلہ سٹوکس

۲۳۸۶۵

۲۳۸۶۶ سوال ۱۵.۲۸۵ تا ۱۵.۲۹۰ میں بیرونی سمت اکائی عمودی سمتیہ $\boldsymbol{n}$ کے رخ، سطح S سے گزرتا میدان $\boldsymbol{F}$ کی گردش کے بہاؤ کی قیمت مسئلہ سٹوکس کا سطحی تکمل استعمال کر کے تلاش کریں۔

۲۳۸۶۷ سوال ۱۵.۲۸۵: $\boldsymbol{F} = 2z\boldsymbol{i} + 3x\boldsymbol{j} + 5y\boldsymbol{k}$

۲۳۸۶۸

$$S: \quad \boldsymbol{r}(r,\theta) = r\cos\theta\,\boldsymbol{i} + r\sin\theta\,\boldsymbol{j} + (4-r^2)\boldsymbol{k}, \qquad 0 \le r \le 2,\ 0 \le \theta \le 2\pi$$

۲۳۸۶۹ سوال ۱۵.۲۸۶: $\boldsymbol{F} = (y-z)\boldsymbol{i} + (z-x)\boldsymbol{j} + (x+z)\boldsymbol{k}$

۲۳۸۷۰

$$S: \quad \boldsymbol{r}(r,\theta) = r\cos\theta\,\boldsymbol{i} + r\sin\theta\,\boldsymbol{j} + (9-r^2)\boldsymbol{k} \qquad 0 \le r \le 3,\ 0 \le \theta \le 2\pi$$

۲۳۸۷۱

۲۳۸۷۲ سوال ۱۵.۲۸۷: $\boldsymbol{F} = x^2y\,\boldsymbol{i} + 2y^3z\,\boldsymbol{j} + 3z\,\boldsymbol{k}$

$$S: \quad \boldsymbol{r}(r,\theta) = r\cos\theta\,\boldsymbol{i} + r\sin\theta\,\boldsymbol{j} + r\,\boldsymbol{k}, \qquad 0 \le r \le 1,\ 0 \le \theta \le 2\pi$$

۲۳۸۷۳ سوال ۱۵.۲۸۸: $\boldsymbol{F} = (x-y)\boldsymbol{i} + (y-z)\boldsymbol{j} + (z-x)\boldsymbol{k}$

$$S: \quad \boldsymbol{r}(r,\theta) = r\cos\theta\,\boldsymbol{i} + r\sin\theta\,\boldsymbol{j} + (5-r)\boldsymbol{k}, \qquad 0 \le r \le 5,\ 0 \le \theta \le 2\pi$$

۲۳۸۷۴

۲۳۸۷۵ سوال ۱۵.۲۸۹: $\boldsymbol{F} = 3y\,\boldsymbol{i} + (5-2x)\boldsymbol{j} + (z^2-2)\boldsymbol{k}$

$$S: \quad \boldsymbol{r}(\phi,\theta) = \sqrt{3}\sin\phi\cos\theta\,\boldsymbol{i} + \sqrt{3}\sin\phi\sin\theta\,\boldsymbol{j} + \sqrt{3}\cos\phi\,\boldsymbol{k}$$

۲۳۸۷۶

$$0 \le \phi \le \frac{\pi}{2},\ 0 \le \theta \le 2\pi$$

۲۳۸۷۷ سوال ۱۵.۲۹۰: $\boldsymbol{F} = y^2\boldsymbol{i} + z^2\boldsymbol{j} + x\boldsymbol{k}$

$$S: \quad \boldsymbol{r}(\phi,\theta) = 2\sin\phi\cos\theta\,\boldsymbol{i} + 2\sin\phi\sin\theta\,\boldsymbol{j} + 2\cos\phi\,\boldsymbol{k}$$

۲۳۸۷۸

$$0 \le \phi \le \frac{\pi}{2},\ 0 \le \theta \le 2\pi$$

۲۳۸۷۹

نظریہ اور مثالیں

سوال ۱۵.۲۹۱: **صفر دائری بہاؤ** تماثل $\nabla \times \nabla f$ (مساوات ۸) اور مسئلہ سٹوکس استعمال کرتے ہوئے دکھائیں کہ فضا میں کسی بھی ہموار قابل سمت بند سطح کی سرحد کے ہمراہ درج ذیل میدان کا دائری بہاؤ صفر ہو گا۔

ا. $\boldsymbol{F} = 2x\boldsymbol{i} + 2y\boldsymbol{j} + 2z\boldsymbol{k}$

ب. $\boldsymbol{F} = \nabla(xy^2z^3)$

ج. $\boldsymbol{F} = \nabla \times (x\boldsymbol{i} + y\boldsymbol{j} + z\boldsymbol{k})$

د. $\boldsymbol{F} = \nabla f$

سوال ۱۵.۲۹۲: **صفر دائری بہاؤ** تفاعل $f(x, y, z) = (x^2 + y^2 + z^2)^{-1/2}$ اور میدان $\boldsymbol{F} = \nabla f$ ہیں۔ درج ذیل طریقوں سے دکھائیں کہ مستوی xy میں دائرہ $x^2 + y^2 = a^2$ پر میدان کا گھڑی وار دائری بہاؤ صفر ہے۔

ا. دائرے پر $\boldsymbol{F} \cdot \mathrm{d}\boldsymbol{r}$ لیں جہاں $\boldsymbol{r}(t) = a\cos t\,\boldsymbol{i} + a\sin t\,\boldsymbol{j},\ 0 \le t \le 2\pi$ ہے۔

ب. مسئلہ سٹوکس کا استعمال کریں۔

سوال ۱۵.۲۹۳: مستوی $2x + 2y + z = 2$ میں C ایک سادہ بند ہموار منحنی ہے جس کی سمت بندی یہاں دکھائی گئی ہے۔ دکھائیں کہ درج ذیل کی قیمت C میں محیط خطے کے رقبے پر منحصر ہے نا کہ C کی شکل و صورت یا مقام پر۔

$$\oint_C (2y\,dx + 3z\,dy - x\,dz)$$

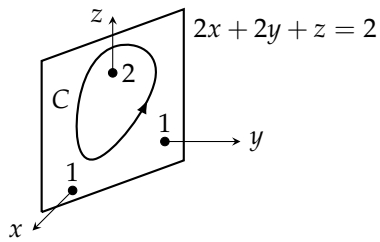

سوال ۱۵.۲۹۴: ثابت کریں اگر $\boldsymbol{F} = x\boldsymbol{i} + y\boldsymbol{j} + z\boldsymbol{k}$ ہو تب $\nabla \times \boldsymbol{F} = 0$ ہو گا۔

سوال ۱۵.۲۹۵: ایسا سمتی میدان معلوم کریں جس کے اجزاء دو مرتبہ قابل تفرق ہوں اور جس کی گردش $x\boldsymbol{i} + y\boldsymbol{j} + z\boldsymbol{k}$ ہو، یا ثابت کریں ایسا کوئی میدان موجود نہیں۔

سوال ۱۵.۲۹۶: کیا مسئلہ سٹوکس ایسے میدان میں گردش کے بارے میں کوئی خاص نتیجہ دیتا ہے جس کی گردش صفر ہو؟ اپنے جواب کی وجوہات بیان کریں۔

سوال ۱۵.۲۹۷: مستوی xy میں R ایسا خطہ ہے جس کو ٹکڑوں میں ہموار سادہ بند منحنی C گھیرتی ہے۔ فرض کریں محور x اور محور y کے لحاظ سے R کے جمود بالترتیب I_x اور I_y ہیں۔ درج ذیل تکمل کی قیمت I_x اور I_y کے روپ میں تلاش کریں جہاں $r = \sqrt{x^2+y^2}$ ہے۔

$$\oint_C \nabla(r^4) \cdot \boldsymbol{n}\,\mathrm{d}s$$

سوال ۱۵.۲۹۸: **گردش صفر تاہم میدان غیر بقائی** دکھائیں کہ درج ذیل کی گردش صفر ہے

$$\boldsymbol{F} = \frac{-y}{x^2+y^2}\boldsymbol{i} + \frac{x}{x^2+y^2}\boldsymbol{j} + z\boldsymbol{k}$$

تاہم مستوی xy میں دائرہ $x^2+y^2=1$ کو C لیتے ہوئے درج ذیل صفر نہیں۔

$$\oint_C \boldsymbol{F} \cdot \mathrm{d}\boldsymbol{r}$$

(میدان $\boldsymbol{F}$ کا دائرہ کار یہاں سادہ تعلق خطہ نہیں لہٰذا مسئلہ ۱۵.۶ کا اطلاق نہیں ہوگا۔ محور z کے ہمراہ میدان $\boldsymbol{F}$ معین نہیں لہٰذا ایسا کوئی طریقہ ممکن نہیں کہ $\boldsymbol{F}$ کے دائرہ کار سے باہر نکلے بغیر ہم C کو ایک نقطے میں سمیٹ لیں۔)

۱۵.۸ مسئلہ پھیلاؤ اور ایک مربوط نظریہ

مستوی میں مسئلہ گرین کا گردشی روپ کہتا ہے کہ سادہ بند منحنی کو پار کرنے والا، سمتی میدان کا خالص بیرونی بہاؤ، منحنی میں محیط خطے پر میدان کے پھیلاؤ پر تکمل سے حاصل کیا جا سکتا ہے۔ تین ابعاد میں متعلقہ مسئلہ، جو مسئلہ پھیلاؤ کہلاتا ہے، کے تحت فضا میں بند سطح سے سمتیہ میدان کا باہر رخ گزرنے والا بہاؤ، سطح میں محیط خطے پر، میدان کے پھیلاؤ کے تکمل سے حاصل کیا جا سکتا ہے۔ اس حصے میں ہم مسئلہ پھیلاؤ ثابت کرتے ہیں، اور دکھاتے ہیں کہ یہ بہاؤ کی قیمت کی تلاش کیسے آسان بناتا ہے۔ ہم برقی میدان میں بہاؤ کا قانون گاوس اور ماقواحرکیات کی استمراری مساوات بھی اخذ کرتے ہیں۔ آخر میں ہم باب کے سمتی تکملی مسائل کو ایک بنیادی مسئلہ کے روپ میں پیش کرتے ہیں۔

تین ابعاد میں پھیلاؤ

سمتی میدان $\boldsymbol{F} = M(x,y,z)\boldsymbol{i} + N(x,y,z)\boldsymbol{j} + P(x,y,z)\boldsymbol{k}$ کا **پھیلاؤ**[۴۰] درج ذیل غیر سمتی تفاعل ہو گا۔

$$\text{پھیلاؤ}\ \boldsymbol{F} = \nabla \cdot \boldsymbol{F} = \frac{\partial M}{\partial x} + \frac{\partial N}{\partial y} + \frac{\partial P}{\partial z} \tag{۱}$$

علامت ''پھیلاؤ $\boldsymbol{F}$'' کو ''F کا پھیلاؤ'' پڑھا جاتا ہے، جبکہ علامت ''$\nabla \cdot \boldsymbol{F}$'' کو ''ڈیل ایف'' پڑھا جاتا ہے۔

تین ابعاد میں پھیلاؤ $\boldsymbol{F}$ کا وہی طبیعی مفہوم ہے جو دو ابعاد میں ہے۔ اگر $\boldsymbol{F}$ سیال کے بہاؤ کا سمتی میدان رفتار ہو، نقطہ (x,y,z) پر بہاؤ $\boldsymbol{F}$ کی قیمت اس نقطے پر سیال کے دخول یا خروج کی شرح دے گی۔ پھیلاؤ سے مراد نقطے پر بہاؤ فی اکائی حجم یعنی کثافت بہاؤ ہے۔

مثال ۱۵.۳۸: پھیلاؤ کی تلاش

سمتی میدان $\boldsymbol{F} = 2xz\boldsymbol{i} - xy\boldsymbol{j} - z\boldsymbol{k}$ کا پھیلاو تلاش کریں۔

حل: سمتی میدان $\boldsymbol{F}$ کا پھیلاؤ درج ذیل ہے۔

$$\nabla \cdot \boldsymbol{F} = \frac{\partial}{\partial x}(2xz) + \frac{\partial}{\partial y}(-xy) + \frac{\partial}{\partial z}(-z) = 2z - x - 1$$

□

مسئلہ پھیلاؤ

مسئلہ پھیلاؤ کہتا ہے کہ مناسب شرائط کے تحت، (باہر رخ سمت بند) بند سطح سے سمتی میدان کا باہر گزرنے والا بہاؤ، سطح میں محیط خطے پر، میدان کے پھیلاؤ کے تہرا تکمل کے برابر ہو گا۔

مسئلہ ۱۵.۷: **مسئلہ پھیلاؤ**

بند، سمت بند سطح S سے سمتی میدان $\boldsymbol{F}$ کا، سطح کے باہر رخ اکائی عمودی سمتیہ کے رخ، گزرنے والا بہاؤ، سطح میں محیط خطہ D پر $\nabla \cdot \boldsymbol{F}$ کے تکمل کے برابر ہو گا۔

$$\underbrace{\iint\limits_S \boldsymbol{F} \cdot \boldsymbol{n}\, \mathrm{d}\sigma}_{\text{باہر رخ بہاؤ}} = \underbrace{\iiint\limits_D \nabla \cdot \boldsymbol{F}\, \mathrm{d}H}_{\text{تکمل پھیلاؤ}} \tag{۲}$$

مثال ۱۵.۳۹: مسئلہ پھیلاؤ کی حمایت میں

کرہ $x^2 + y^2 + z^2 = a^2$ پر سمتی میدان $\boldsymbol{F} = x\boldsymbol{i} + y\boldsymbol{j} + z\boldsymbol{k}$ کے لئے مساوات ۲ کے دونوں اطراف حل کریں۔

---

[۴۰] divergence

۲۴۹۳۷ **حل:** سطح S کے باہر رخ اکائی عمودی سمتیہ کو $f(x,y,z) = x^2 + y^2 + z^2 - a^2$ کے ڈھلوان سے حاصل کرتے ہیں۔

$$\boldsymbol{n} = \frac{2(x\boldsymbol{i} + y\boldsymbol{j} + z\boldsymbol{k})}{\sqrt{4(x^2+y^2+z^2)}} = \frac{x\boldsymbol{i} + y\boldsymbol{j} + z\boldsymbol{k}}{a}$$

۲۴۹۳۸ یوں درج ذیل ہو گا جہاں سطح پر $x^2 + y^2 + z^2 = a^2$ لیا گیا ہے۔

$$\boldsymbol{F} \cdot \boldsymbol{n}\,\mathrm{d}\sigma = \frac{x^2+y^2+z^2}{a}\,\mathrm{d}\sigma = \frac{a^2}{a}\,\mathrm{d}\sigma = a\,\mathrm{d}\sigma$$

۲۴۹۳۹ لہٰذا مساوات ۲ کا ایک ہاتھ درج ذیل ہو گا۔

$$\iint\limits_S \boldsymbol{F} \cdot \boldsymbol{n}\,\mathrm{d}\sigma = \iint\limits_S a\,\mathrm{d}\sigma = a \iint\limits_S \mathrm{d}\sigma = 4\pi a^3$$

۲۴۹۴۰ میدان $\boldsymbol{F}$ کا پھیلاؤ

$$\nabla \cdot \boldsymbol{F} = \frac{\partial}{\partial x}(x) + \frac{\partial}{\partial y}(y) + \frac{\partial}{\partial z}(z) = 3$$

۲۴۹۴۱ لہٰذا مساوات ۲ کا دوسرا ہاتھ درج ذیل ہو گا۔

$$\iiint\limits_D \nabla \cdot \boldsymbol{F}\ \mathrm{d}H = \iiint\limits_D 3\,\mathrm{d}H = 3\left(\frac{4}{3}\pi a^3\right) = 4\pi a^3$$

۲۴۹۴۲ □

۲۴۹۴۳ مثال ۱۵.۴۰: بہاؤ کی تلاش

۲۴۹۴۴ ثُمن اول سے مستویات $x = 1$ ، $y = 1$ ، اور $z = 1$ مکعب کاٹتی ہیں۔ سمتی میدان $\boldsymbol{F} = xy\boldsymbol{i} + yz\boldsymbol{j} + xz\boldsymbol{k}$ کا مکعب کی سطح
۲۴۹۴۵ سے باہر رخ گزرتا بہاؤ تلاش کریں۔

۲۴۹۴۶ **حل:** مکعب کی چھ سطوح پر تکمل لے کر بہاؤ کی قیمت تلاش کرنے کے بجائے ہم پھیلاؤ

$$\nabla \cdot \boldsymbol{F} = \frac{\partial}{\partial x}(xy) + \frac{\partial}{\partial y}(yz) + \frac{\partial}{\partial z}(xz) = y + z + x$$

۲۴۹۴۷ کا تکمل مکعب کے اندرون پر لیتے ہیں۔

$$\text{بہاؤ} = \iint\limits_{\text{مکعبی سطوح}} \boldsymbol{F} \cdot \boldsymbol{n}\,\mathrm{d}\sigma = \iiint\limits_{\text{مکعبی اندرون}} \nabla \cdot \boldsymbol{F}\,\mathrm{d}H \qquad \text{مسئلہ پھیلاو}$$

$$= \int_0^1 \int_0^1 \int_0^1 (x+y+z)\,\mathrm{d}x\,\mathrm{d}y\,\mathrm{d}z = \frac{3}{2}$$

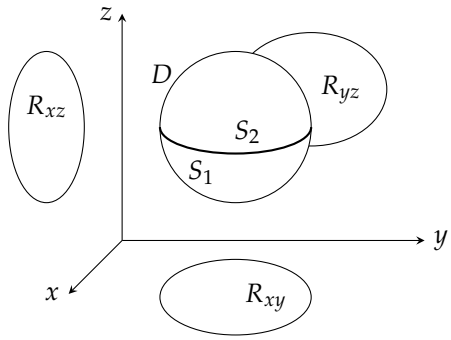

شکل ۱۵.۷۸: دکھائی گئی قسم کے تین ابعادی خطے کے لئے مسئلہ پھیلاؤ ثابت کرنے کے بعد مسئلے کو دیگر خطوں تک وسعت دی جائے گی۔

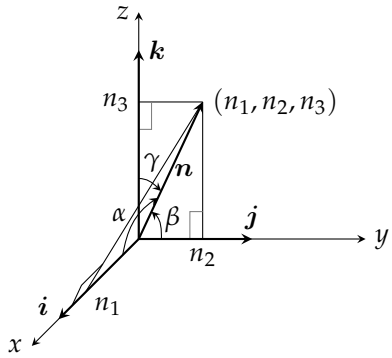

شکل ۱۵.۷۹: اکائی سمتیات $\boldsymbol{i}$ ، $\boldsymbol{j}$ ،اور $\boldsymbol{k}$ کے ساتھ اکائی عمودی سمتیہ $\boldsymbol{n}$ بالترتیب زاویہ α ، β ،اور γ بناتا ہے۔ان زاویوں کے کوسائن $\boldsymbol{n}$ کے غیر سمتی اجزاء ہیں۔

۳۴۹۴۸ □

۳۴۹۴۹ **مخصوص خطوں کے لئے مسئلہ پھیلاؤ کا ثبوت**

۳۴۹۵۰ ہم فرض کرتے ہیں کہ $\boldsymbol{F}$ کے اجزاء کے جزوی یک رتبی تفرق استمراری ہیں۔ہم مزید فرض کرتے ہیں کہ خطہ D محدب ہے اور اس میں کوئی سوراخ یا بلبلا
۳۴۹۵۱ نہیں پایا جاتا، مثلاً ٹھوس مکعب، کرہ، یا ترخیمی جسم، اور اس کی سطح S ٹکڑوں میں ہموار ہے۔اس کے ساتھ ساتھ ہم فرض کرتے ہیں کہ مستوی xy پر D
۳۴۹۵۲ کے تظلیل قائمہ R_{xy} کے اندرونی ہر نقطے پر، xy مستوی کو عمودی لکیر، سطح S کو ٹھیک دو نقاط پر قطع کرتی ہے جس سے ہمیں درج ذیل دو سطوح ملتے ہیں

$$S_1: \quad z = f_1(x, y), \quad \text{نقطہ } (x, y) \text{ تظلیل } R_{xy} \text{ میں ہے}$$
$$S_2: \quad z = f_2(x, y), \quad \text{نقطہ } (x, y) \text{ تظلیل } R_{xy} \text{ میں ہے}$$

۳۴۹۵۳ جہاں $f_1 \leq f_2$ ہے۔ہم اسی طرح کے مفروضے دیگر محددی سطوح پر D کے تظلیل قائمہ کے لئے فرض کرتے ہیں۔شکل ۱۵.۷۸ دیکھیں۔

۳۴۹۵۴ اکائی عمودی سمتیہ $\boldsymbol{n} = n_1\boldsymbol{i} + n_2\boldsymbol{j} + n_3\boldsymbol{k}$ کے اجزاء، زاویات α ، β ،اور γ کے کوسائن ہیں، جو $\boldsymbol{n}$ اکائی سمتیات $\boldsymbol{i}$ ، $\boldsymbol{j}$ ،اور $\boldsymbol{k}$
۳۴۹۵۵ کے ساتھ بناتا ہے (شکل ۱۵.۷۹)۔تمام سمتیات اکائی ہونے کی وجہ سے ایسا ہو گا۔یوں

$$\begin{aligned} n_1 &= \boldsymbol{n} \cdot \boldsymbol{i} = |\boldsymbol{n}||\boldsymbol{i}| \cos\alpha = \cos\alpha \\ n_2 &= \boldsymbol{n} \cdot \boldsymbol{j} = |\boldsymbol{n}||\boldsymbol{j}| \cos\beta = \cos\beta \\ n_3 &= \boldsymbol{n} \cdot \boldsymbol{k} = |\boldsymbol{n}||\boldsymbol{k}| \cos\gamma = \cos\gamma \end{aligned}$$

۳۴۹۵۶ لہٰذا

$$\boldsymbol{n} = (\cos\alpha)\boldsymbol{i} + (\cos\beta)\boldsymbol{j} + (\cos\gamma)\boldsymbol{k}$$

۲۴۹۵۷ اور درج ذیل ہو گا۔

$$\boldsymbol{F}\cdot\boldsymbol{n} = M\cos\alpha + N\cos\beta + P\cos\gamma$$

۲۴۹۵۸ اجزاء کے روپ میں مسئلہ پھیلاؤ کہتا ہے درج ذیل ہو گا۔

$$\iint\limits_S (M\cos\alpha + N\cos\beta + P\cos\gamma)\,\mathrm{d}\sigma = \iiint\limits_D \left(\frac{\partial M}{\partial x} + \frac{\partial N}{\partial y} + \frac{\partial P}{\partial z}\right)\mathrm{d}x\,\mathrm{d}y\,\mathrm{d}z$$

۲۴۹۵۹ ہم درج ذیل تین مساویت ثابت کر کے مسئلہ ثابت کرتے ہیں۔

$$\iint\limits_S M\cos\alpha\,\mathrm{d}\sigma = \iiint\limits_D \frac{\partial M}{\partial x}\,\mathrm{d}x\,\mathrm{d}y\,\mathrm{d}z \tag{۳}$$

$$\iint\limits_S N\cos\beta\,\mathrm{d}\sigma = \iiint\limits_D \frac{\partial N}{\partial y}\,\mathrm{d}x\,\mathrm{d}y\,\mathrm{d}z \tag{۴}$$

$$\iint\limits_S P\cos\gamma\,\mathrm{d}\sigma = \iiint\limits_D \frac{\partial P}{\partial z}\,\mathrm{d}x\,\mathrm{d}y\,\mathrm{d}z \tag{۵}$$

۲۴۹۶۰ **مساوات ۵ کا ثبوت**

۲۴۹۶۱ ہم بائیں ہاتھ کے سطحی تکمل کو xy مستوی پر D کی قائمہ تطلیل پر دوہرے تکمل میں تبدیل کر کے مساوات ۵ ثابت کرتے ہیں (شکل ۱۵.۸۰)۔ سطح S دو
۲۴۹۶۲ سطوح S_2 اور S_1 پر مشتمل ہے جہاں S_2 بالا حصہ ہے اور اس کی مساوات $z = f_2(x,y)$ ہے اور S_1 نچلا حصہ ہے اور اس کی مساوات
۲۴۹۶۳ $z = f_1(x,y)$ ہے۔ سطح S_2 پر باہر رخ عمودی اکائی سمتیہ $\boldsymbol{n}$ کا $\boldsymbol{k}$ جزو مثبت علامت رکھتا ہے اور چونکہ

$$\mathrm{d}\sigma = \frac{\mathrm{d}A}{|\cos\gamma|} = \frac{\mathrm{d}x\,\mathrm{d}y}{\cos\gamma}$$

۲۴۹۶۴ ہے لہٰذا درج ذیل ہو گا (شکل ۱۵.۸۱ پر نظر ڈالیں)۔

$$\cos\gamma\,\mathrm{d}\sigma = \mathrm{d}x\,\mathrm{d}y$$

۲۴۹۶۵ سطح S_1 پر $\boldsymbol{n}$ کا $\boldsymbol{k}$ جزو منفی علامت رکھتا ہے لہٰذا اس سطح پر درج ذیل ہو گا۔

$$\cos\gamma\,\mathrm{d}\sigma = -\,\mathrm{d}x\,\mathrm{d}y$$

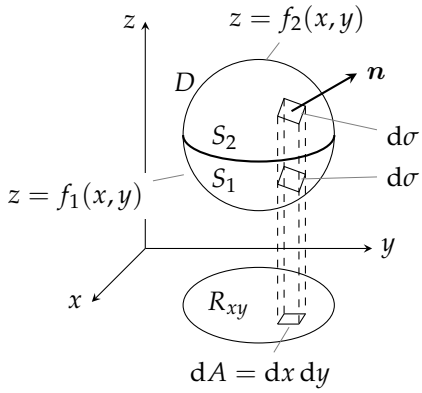

شکل ۱۵.۸۰: تین بعدی خطہ D، جو مستوی xy پر دو ابعادی قائمہ تطلیل R_{xy} ڈالتا ہے، کو سطوح S_1 اور S_2 گھیرتی ہیں۔

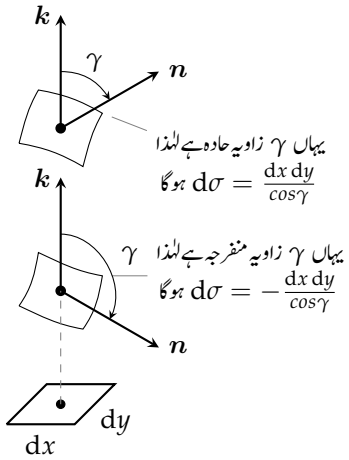

شکل ۱۵.۸۱: گزشتہ شکل میں پیش رقبوں کے ٹکڑے بڑا کر کے دکھائے گئے ہیں۔ تعلق $\mathrm{d}\sigma = \pm\,\mathrm{d}x\,\mathrm{d}y/\cos\gamma$ حصہ ۱۵.۵ میں اخذ کیا گیا ہے۔

۲۴۹۶۶ یوں درج ذیل حاصل ہوگا۔

$$\begin{aligned}
\iint\limits_S P\cos\gamma\,\mathrm{d}\sigma &= \iint\limits_{S_2} P\cos\gamma\,\mathrm{d}\sigma + \iint\limits_{S_1} P\cos\gamma\,\mathrm{d}\sigma \\
&= \iint\limits_{R_{xy}} P(x,y,f_2(x,y))\,\mathrm{d}x\,\mathrm{d}y - \iint\limits_{R_{xy}} P(x,y,f_1(x,y))\,\mathrm{d}x\,\mathrm{d}y \\
&= \iint\limits_{R_{xy}} [P(x,y,f_2(x,y)) - P(x,y,f_1(x,y))]\,\mathrm{d}x\,\mathrm{d}y \\
&= \iint\limits_{R_{xy}} \left[\int_{f_1(x,y)}^{f_2(x,y)} \frac{\partial P}{\partial z}\,\mathrm{d}z\right]\mathrm{d}x\,\mathrm{d}y = \iiint\limits_D \frac{\partial P}{\partial z}\,\mathrm{d}z\,\mathrm{d}x\,\mathrm{d}y
\end{aligned}$$

۲۴۹۶۷ یوں مساوات ۵ ثابت ہوا۔

۲۴۹۶۸ □

۲۴۹۶۹ مساوات ۳ اور مساوات ۴ کے ثبوت اسی طرز پر حاصل ہوں گے؛ یا مساوات ۵ میں بالترتیب x ، y ، z ؛ M ، N ، P ؛ α ، β ، γ ایک دوسرے
۲۴۹۷۰ کی جگہ رکھ کر نتائج لکھیں۔

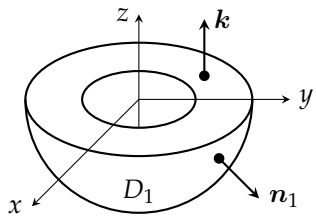

شکل ۱۵.۸۲: دو ہم مرکز کرّات کے بیچ ٹھوس خطے کا نچلا نصف حصہ۔

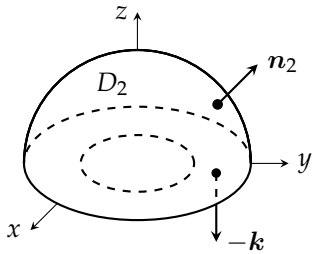

شکل ۱۵.۸۳: دو ہم مرکز کرّات کے بیچ ٹھوس خطے کا بالائی نصف حصہ۔

دیگر خطوں کے لئے مسئلہ پھیلاؤ

مسئلہ پھیلاؤ کو ان خطوں تک وسعت دی جا سکتی ہے جنہیں محدود تعداد کے مذکورہ سادہ قسم کے خطوں میں تقسیم کیا جا سکتا ہے یا ایسے خطوں تک جنہیں کسی طرح سادہ خطوں کی حد تصور کیا جا سکتا ہے۔ مثال کے طور پر، فرض کریں دو ہم مرکز کرّات کے بیچ خطہ D ہے جہاں D کے اندر اور اس کے تحدیدی سطوح پر $\boldsymbol{F}$ کے جزوی تفرق استمراری ہیں۔ استوائی مستوی پر D کو دو حصوں میں تقسیم کر کے دونوں نصف حصوں پر مسئلہ پھیلاؤ کا اطلاق کریں۔ نچلا نصف حصہ D_1 شکل ۱۵.۸۲ میں پیش کیا گیا ہے جس کی تحدیدی سطح S_1 ہے جو بیرونی کرہ، مسطح چھلا، اور اندرونی کرہ پر مشتمل ہے۔ مسئلہ پھیلاؤ درج ذیل کہتا ہے۔

$$\iint\limits_{S_1} \boldsymbol{F}\cdot\boldsymbol{n}_1\,\mathrm{d}\sigma_1 = \iiint\limits_{D_1} \nabla\cdot\boldsymbol{F}\,\mathrm{d}H_1 \tag{۶}$$

اکائی عمودی سمتیہ $\boldsymbol{n}_1$ کا رخ نچلے نصف حصہ D_1 کے بیرونی سطح پر مبدا سے دور کی جانب ہے، چھلے پر یہ $\boldsymbol{k}$ کے برابر ہے، اور اندرونی سطح پر اس کا رخ مبدا کی جانب ہے۔ اس کے بعد D_2 اور اس کی سطح S_2 پر مسئلہ پھیلاؤ کا اطلاق کریں (شکل ۱۵.۸۳)۔

$$\iint\limits_{S_2} \boldsymbol{F}\cdot\boldsymbol{n}_2\,\mathrm{d}\sigma_2 = \iiint\limits_{D_2} \nabla\cdot\boldsymbol{F}\,\mathrm{d}H_2 \tag{۷}$$

بالائی نصف حصہ D_2 کی سطح S_2 پر چلتے ہوئے عمادی اکائی سمتیہ $\boldsymbol{n}_2$ پر نظر رکھیں۔ بیرونی کرہ پر اس کا رخ مبدا سے دور جانب ہے، چھلا پر یہ $-\boldsymbol{k}$ کے برابر ہے، جبکہ اندرونی کرہ پر اس کا رخ مبدا کی جانب ہے۔ مساوات ۶ اور مساوات ۷ جمع کرتے ہوئے، چھلے پر $\boldsymbol{n}_1$ اور $\boldsymbol{n}_2$ کی علامتیں الٹ ہونے کی وجہ سے، اس پر تکمل ایک دوسرے کو کاٹتے ہیں۔ یوں درج ذیل نتیجہ حاصل ہو گا

$$\iint\limits_{S} \boldsymbol{F}\cdot\boldsymbol{n}\,\mathrm{d}\sigma = \iiint\limits_{D} \nabla\cdot\boldsymbol{F}\,\mathrm{d}H$$

جہاں دو کرّات (اندرونی اور بیرونی) کے بیچ خطہ D ہے، D کی سرحد S دو کرّات (اندرونی اور بیرونی) کی سطوح پر مشتمل ہے، اور S پر D سے باہر رخ عمودی اکائی سمتیہ $\boldsymbol{n}$ ہے۔

۲۴۹۸۳ مثال ۱۵.۴۱: باہر رخ بہاؤ کا حصول

۲۴۹۸۴ خطہ $D:\ 0 < a^2 \leq x^2+y^2+z^2 \leq b^2$ کی سرحد سے باہر رخ گزرنے والا صافی بہاؤ درج ذیل میدان کے لئے تلاش کریں۔

$$\boldsymbol{F} = \frac{x\boldsymbol{i}+y\boldsymbol{i}+z\boldsymbol{k}}{\rho^3}, \quad \rho = \sqrt{x^2+y^2+z^2}$$

۲۴۹۸۵ **حل:** خطہ D پر $\nabla \cdot \boldsymbol{F}$ کا تکمل ہمیں بہاؤ دیگا۔ درج ذیل لکھتے ہیں۔

$$\frac{\partial \rho}{\partial x} = \frac{1}{2}(x^2+y^2+z^2)^{-1/2}(2x) = \frac{x}{\rho}$$
$$\frac{\partial M}{\partial x} = \frac{\partial}{\partial x}(x\rho^{-3}) = \rho^{-3} - 3x\rho^{-4}\frac{\partial \rho}{\partial x} = \frac{1}{\rho^3} - \frac{3x^2}{\rho^5}$$

۲۴۹۸۶ اسی طرح درج ذیل بھی ہو گا۔

$$\frac{\partial N}{\partial y} = \frac{1}{\rho^3} - \frac{3y^2}{\rho^5}, \quad \frac{\partial P}{\partial z} = \frac{1}{\rho^3} - \frac{3z^2}{\rho^5}$$

۲۴۹۸۷ لہٰذا

$$\boldsymbol{F}\text{ پھیلاؤ} = \frac{3}{\rho^3} - \frac{3}{\rho^5}(x^2+y^2+z^2) = \frac{3}{\rho^3} - \frac{3\rho^2}{\rho^5} = 0$$

۲۴۹۸۸ اور درج ذیل ہو گا۔

$$\iiint\limits_D \nabla \cdot \boldsymbol{F}\,\mathrm{d}H = 0$$

۲۴۹۸۹ اس طرح D پر $\nabla \cdot \boldsymbol{F}$ کا تکمل صفر ہے اور D کی سرحد کو باہر رخ عبور کرتا ہوا صافی بہاؤ صفر ہو گا۔ اس مثال سے مزید معلومات بھی حاصل ہوتی ہیں۔
۲۴۹۹۰ اندرونی کرہ S_a کو پار کرتا ہوا جو بہاؤ D سے خارج ہوتا ہے کی علامت اس بہاؤ کے الٹ ہو گی جو بیرونی کرہ S_b کو عبور کرتا ہوا D سے خارج ہوتا ہے (یاد
۲۴۹۹۱ رہے ان بہاؤ کا مجموعہ صفر ہے)۔ یوں مبدا سے دوری کے رخ $\boldsymbol{F}$ کا بہاؤ جو S_a کو عبور کرتا ہے $\boldsymbol{F}$ کے اس بہاؤ کے برابر ہو گا جو مبدا سے دوری کے رخ
۲۴۹۹۲ S_b کو پار کرتا ہوا D سے خارج ہوتا ہے۔ یوں مبدا پر مرکوز کرہ کو عبور کرتا $\boldsymbol{F}$ کا بہاؤ کرہ کے رداس پر منحصر نہیں۔ یہ بہاؤ کتنا ہو گا؟

۲۴۹۹۳ اس کی قیمت جاننے کی خاطر ہم بہاؤ کا تکمل حل کرتے ہیں۔ رداس a کے کرہ کا باہر رخ اکائی عمودی سمتیہ درج ذیل ہو گا۔

$$\boldsymbol{n} = \frac{x\boldsymbol{i}+y\boldsymbol{j}+z\boldsymbol{k}}{\sqrt{x^2+y^2+z^2}} = \frac{x\boldsymbol{i}+y\boldsymbol{j}+z\boldsymbol{k}}{a}$$

۲۴۹۹۴ یوں کرہ پر

$$\boldsymbol{F}\cdot\boldsymbol{n} = \left(\frac{x\boldsymbol{i}+y\boldsymbol{j}+z\boldsymbol{k}}{a^3}\right)\cdot\left(\frac{x\boldsymbol{i}+y\boldsymbol{j}+z\boldsymbol{k}}{a}\right) = \frac{x^2+y^2+z^2}{a^4} = \frac{a^2}{a^4} = \frac{1}{a^2}$$

۲۴۹۹۵ لہٰذا درج ذیل ہو گا۔

$$\iint\limits_{S_a} \boldsymbol{F}\cdot\boldsymbol{n}\,\mathrm{d}\sigma = \frac{1}{a^2}\iint\limits_{S_a} \mathrm{d}\sigma = \frac{1}{a^2}(4\pi a^2) = 4\pi$$

۲۴۹۹۶ مبدا پر مرکوز ہر کرہ سے $\boldsymbol{F}$ کا باہر رخ بہاؤ 4π ہو گا۔ □

۲۴۹۹۷ **گاوس کا قانون: برقناطیسیت کے چار عظیم قوانین میں سے ایک**

۲۴۹۹۸ ابھی مثال ۱۵.۴۱ سے بہت کچھ سیکھا جا سکتا ہے۔ برقناطیسی نظریہ میں، مبدا پر موجود نقطی بار q درج ذیل برقی میدان پیدا کرتا ہے

$$\boldsymbol{E}(x,y,z) = \frac{1}{4\pi\epsilon_0}\frac{q}{|\boldsymbol{r}|^2}\left(\frac{\boldsymbol{r}}{|\boldsymbol{r}|}\right) = \frac{q}{4\pi\epsilon_0}\frac{\boldsymbol{r}}{|\boldsymbol{r}|^3} = \frac{q}{4\pi\epsilon_0}\frac{x\boldsymbol{i}+y\boldsymbol{j}+z\boldsymbol{k}}{\rho^3}$$

۲۴۹۹۹ جہاں ϵ_0 طبیعی مستقل، $\boldsymbol{r}$ نقطہ (x,y,z) کا تعین گر سمتیہ، اور $\rho = |\boldsymbol{r}| = \sqrt{x^2+y^2+z^2}$ ہے۔ مثال ۱۵.۴۱ کی علامتیت میں
۲۵۰۰۰ اس کو لکھتے ہیں۔

$$\boldsymbol{E} = \frac{q}{4\pi\epsilon_0}\boldsymbol{F}$$

۲۵۰۰۱ مثال ۱۵.۴۱ سے ہم دیکھتے ہیں کہ مبدا پر مرکوز ہر کرہ سے باہر رخ $\boldsymbol{E}$ کا بہاؤ q/ϵ_0 ہو گا، لیکن یہ نتیجہ صرف کرہ تک محدود نہیں۔ کسی بھی بند سطح S
۲۵۰۰۲ سے، جو مبدا کو گھیرتی ہو (اور جس پر مسئلہ پھیلاؤ کا اطلاق ہوتا ہو)، $\boldsymbol{E}$ کا باہر رخ بہاؤ q/ϵ_0 ہو گا۔ اس کی وجہ جاننے کی خاطر مبدا پر مرکوز اتنے بڑے کرہ
۲۵۰۰۳ S_a کا تصور کریں جو S کو گھیرتا ہو۔ جب $\rho > 0$ ہو درج ذیل ہو گا

$$\nabla\cdot\boldsymbol{E} = \nabla\cdot\frac{q}{4\pi\epsilon_0}\boldsymbol{F} = \frac{q}{4\pi\epsilon_0}\nabla\cdot\boldsymbol{F} = 0$$

۲۵۰۰۴ جس کی وجہ سے S اور S_a کے بیچ خطہ D پر $\nabla\cdot\boldsymbol{E}$ کا تکمل صفر ہو گا۔ لہٰذا مسئلہ پھیلاؤ کے تحت

$$\iint\limits_{D\text{ کی سرحد}} \boldsymbol{E}\cdot\boldsymbol{n}\,\mathrm{d}\sigma = 0$$

۲۵۰۰۵ ہو گا، اور مبدا سے دوری کے رخ S کو عبور کرتا ہوا $\boldsymbol{E}$ کا بہاؤ لازماً مبدا سے دوری کے رخ S_a کو عبور کرتے ہوئے $\boldsymbol{E}$ کے بہاؤ کے برابر ہو گا، جو
۲۵۰۰۶ q/ϵ_0 ہے۔ یہ فقرہ، جو **قانون گاوس**[۴۱] کہلاتا ہے، یہاں فرض کئے گئے بار سے زیادہ عمومی تقسیم بار کے لئے بھی درست ہے، جیسا آپ طبیعیات کے کسی
۲۵۰۰۷ بھی نصابی کتاب میں پڑھ سکتے ہیں۔

$$\iint\limits_{S} \boldsymbol{E}\cdot\boldsymbol{n}\,\mathrm{d}\sigma = \frac{q}{\epsilon_0} \qquad \text{قانون گاوس}$$

[۴۱] Gauss'law

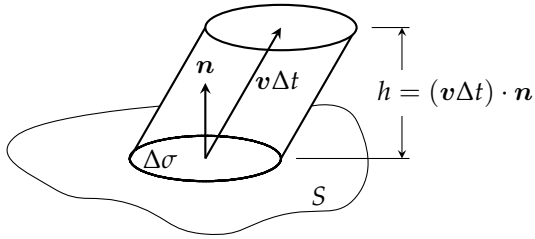

شکل ۱۵.۸۴: قلیل وقت Δt کے دوران جو سیال رقبے کے ٹکڑا $\Delta\sigma$ سے اوپر رخ گزرتا ہے اس کا حجم بیلن $\boldsymbol{v}\cdot\boldsymbol{n}\Delta\sigma\Delta t$ کے برابر ہو گا۔

۲۵۰۰۸ **ماقواحرکیات کی استمراری مساوات**

۲۵۰۰۹ فرض کریں فضا میں خطہ D بند، سمت بند سطح S میں محدود ہے۔ اگر نقطہ (x,y,z) اور وقت t پر D میں بہتے ہوئے سیال کا سمتی رفتاری میدان
۲۵۰۱۰ $\boldsymbol{v}(x,y,z)$، اور کثافت $\delta = \delta(t,x,y,z)$ ہو، اور $\boldsymbol{F} = \delta\boldsymbol{v}$ ہو، تب ماقواحرکیات کی **استمراری مساوات**[۴۲] درج ذیل کہتی ہے۔

$$\nabla\cdot\boldsymbol{F} + \frac{\partial\delta}{\partial t} = 0$$

۲۵۰۱۱ اگر ملوث تفاعلات کے یک رتبی جزوی تفرق استمراری ہوں، یہ مساوات مسئلہ پھیلاؤ سے اخذ کی جا سکتی ہے۔ آئیں یہ عمل دیکھیں۔

۲۵۰۱۲ درج ذیل تکمل، S کو عبور کر کے D سے کمیتی اخراج (اخراج اس لئے کہ $\boldsymbol{n}$ باہر رخ عمودی ہے) کی شرح دیتا ہے۔

$$\iint_S \boldsymbol{F}\cdot\boldsymbol{n}\,\mathrm{d}\sigma$$

۲۵۰۱۳ اس کی وجہ جاننے کی خاطر، سطح پر رقبے کا ٹکڑا $\Delta\sigma$ لیں (شکل ۱۵.۸۴)۔ قلیل زمانی وقفہ Δt میں، اس ٹکڑے کو ΔH حجم عبور کرتا ہے جو تخمیناً اس بیلن
۲۵۰۱۴ کے حجم کے برابر ہو گا جس کا تل $\Delta\sigma$ اور لمبائی $(\boldsymbol{v}\Delta t)\cdot\boldsymbol{n}$ ہو، جہاں اس ٹکڑے کے کسی ایک نقطے پر سمتی رفتاری سمتیہ $\boldsymbol{v}$ ہے۔

$$\Delta H \approx \boldsymbol{v}\cdot\boldsymbol{n}\Delta\sigma\Delta t$$

۲۵۰۱۵ اس حجم کی کمیت تقریباً

$$\Delta m \approx \delta\boldsymbol{v}\cdot\boldsymbol{n}\Delta\sigma\Delta t$$

۲۵۰۱۶ ہو گی، لہٰذا سے اس ٹکڑے سے گزر کر D سے کمیت کے اخراج کی شرح تخمیناً درج ذیل ہو گی۔

$$\frac{\Delta m}{\Delta t} \approx \delta\boldsymbol{v}\cdot\boldsymbol{n}\Delta\sigma$$

---

[۴۲] continuityequation

۲۵۰۱۷ اس سے درج ذیل تخمین لکھی جا سکتی ہے

$$\frac{\sum \Delta m}{\Delta t} \approx \sum \delta \boldsymbol{v} \cdot \boldsymbol{n} \Delta \sigma$$

۲۵۰۱۸ جو S سے گزرنے والی کمیت کی تخمیناً اوسط شرح ظاہر کرتی ہے۔ آخر میں $\Delta \sigma \to 0$ اور $\Delta t \to 0$ لیتے ہوئے D سے S کے ذریعہ اخراج کی
۲۵۰۱۹ لحاقی شرح:

$$\frac{\mathrm{d}m}{\mathrm{d}t} = \iint\limits_S \delta \boldsymbol{v} \cdot \boldsymbol{n} \, \mathrm{d}\sigma$$

۲۵۰۲۰ حاصل ہو گی جو اس مخصوص سیال کے لئے درج ذیل لکھی جا سکتی ہے۔

$$\frac{\mathrm{d}m}{\mathrm{d}t} = \iint\limits_S \boldsymbol{F} \cdot \boldsymbol{n} \, \mathrm{d}\sigma$$

۲۵۰۲۱ اب فرض کریں سیال میں نقطہ Q پر مرکوز ٹھوس کرہ B رکھا جاتا ہے۔ کرہ B پر $\nabla \cdot \boldsymbol{F}$ کی اوسط قیمت درج ذیل ہو گی۔

$$\frac{1}{B \text{ کا حجم}} \iiint\limits_B \nabla \cdot \boldsymbol{F} \, \mathrm{d}H$$

۲۵۰۲۲ پھیلاؤ کے استمرار کا ایک پہلو یہ ہے کہ B میں کسی ایک نقطہ P پر $\nabla \cdot \boldsymbol{F}$ کی قیمت یہی ہو گی۔ یوں درج ذیل ہو گا۔

$$\begin{aligned}(\nabla \cdot \boldsymbol{F})_P &= \frac{1}{B \text{ کا حجم}} \iiint\limits_B \nabla \cdot \boldsymbol{F} \, \mathrm{d}H = \frac{\iint\limits_S \boldsymbol{F} \cdot \boldsymbol{n} \, \mathrm{d}\sigma}{B \text{ کا حجم}} \\ &= \frac{\text{سطح } S \text{ کے ذریعہ } B \text{ سے کمیتی اخراج کی شرح}}{B \text{ کا حجم}} \qquad (۸)\end{aligned}$$

۲۵۰۲۳ دائیں ہاتھ کسر اکائی حجم میں کمیت کی کمی کی شرح بیان کرتا ہے۔

۲۵۰۲۴ اب مرکز Q کو ایک ہی مقام پر رکھتے ہوئے B کے رداس کو صفر کے قریب پہنچائیں۔ مساوات ۸ کا بایاں ہاتھ $(\nabla \cdot \boldsymbol{F})_Q$ کو، جبکہ اس کا دایاں ہاتھ
۲۵۰۲۵ $(-\partial\delta/\partial t)_Q$ کو مرکوز ہو گا۔ ان دو حدوں کی مساویت ہمیں درج ذیل **استمراری مساوات**[۴۳] دیتی ہے۔

$$\nabla \cdot \boldsymbol{F} = -\frac{\partial \delta}{\partial t}$$

۲۵۰۲۶ استمراری مساوات ہمیں $\nabla \cdot \boldsymbol{F}$ کا مفہوم دیتی ہے: کسی نقطے پر $\boldsymbol{F}$ کا پھیلاؤ اس نقطے پر سیال کی کثافت میں کمی کی شرح دیتا ہے۔

---

[۴۳] continuityequation

۲۵۰۲۷ مسئلہ پھیلاؤ

$$\iint\limits_S \boldsymbol{F}\cdot\boldsymbol{n}\,\mathrm{d}\sigma = \iiint\limits_D \nabla\cdot\boldsymbol{F}\,\mathrm{d}H$$

۲۵۰۲۸ اب کہتا ہے کہ خطہ D میں کثافت کی صافی کمی کی وجہ کمیت کی سطح S سے دوسری جانب منتقلی ہے۔ یوں یہ مسئلہ کمیت کی بقا بیان کرتا ہے (سوال
۲۵۰۲۹ ۱۵.۳۲۹)۔

۲۵۰۳۰ تکملی مسائل کی یکجائی

۲۵۰۳۱ دو بعدی میدان $\boldsymbol{F} = M(x,y)\boldsymbol{i} + N(x,y)\boldsymbol{j}$ کو ایسا تین بعدی میدان تصور کرکے جس کا $\boldsymbol{k}$ جزو صفر ہو ہم

$$\nabla\cdot\boldsymbol{F} = (\partial M/\partial x) + (\partial N/\partial y)$$

۲۵۰۳۲ لکھ سکتے ہیں اور یوں مسئلہ گرین کا عمودی روپ درج ذیل لکھا جا سکتا ہے۔

$$\oint\limits_C \boldsymbol{F}\cdot\boldsymbol{n}\,\mathrm{d}s = \iint\limits_R \left(\frac{\partial M}{\partial x} + \frac{\partial N}{\partial y}\right)\mathrm{d}x\,\mathrm{d}y = \iint\limits_R \nabla\cdot\boldsymbol{F}\,\mathrm{d}A$$

۲۵۰۳۳ اسی طرح $\nabla\times\boldsymbol{F}\cdot\boldsymbol{k} = (\partial N/\partial x) - (\partial M/\partial y)$ ہو گا لہٰذا مسئلہ گرین کا مماسی روپ درج ذیل لکھا جا سکتا ہے۔

$$\oint\limits_C \boldsymbol{F}\cdot\mathrm{d}\boldsymbol{r} = \iint\limits_R \left(\frac{\partial M}{\partial x} - \frac{\partial N}{\partial y}\right)\mathrm{d}x\,\mathrm{d}y = \iint\limits_R \nabla\times\boldsymbol{F}\cdot\boldsymbol{k}\,\mathrm{d}A$$

۲۵۰۳۴ مسئلہ گرین کی مساوات ڈیل علامتیت میں لکھ کر ان کا مسئلہ سٹوکس اور مسئلہ پھیلاؤ کے ساتھ تعلق افشا ہوتا ہے۔

۲۵۰۳۵ مسئلہ گرین کی تین ابعادی تعمیم

$$\oint\limits_C \boldsymbol{F}\cdot\boldsymbol{n}\,\mathrm{d}s = \iint\limits_R \nabla\cdot\boldsymbol{F}\,\mathrm{d}A \qquad \text{مسئلہ گرین کا عمودی روپ}$$

$$\iint\limits_S \boldsymbol{F}\cdot\boldsymbol{n}\,\mathrm{d}\sigma = \iiint\limits_D \nabla\cdot\boldsymbol{F}\,\mathrm{d}H \qquad \text{مسئلہ پھیلاؤ}$$

$$\oint\limits_C \boldsymbol{F}\cdot\mathrm{d}\boldsymbol{r} = \iint\limits_R \nabla\times\boldsymbol{F}\cdot\boldsymbol{k}\,\mathrm{d}A \qquad \text{مسئلہ گرین کا مماسی روپ}$$

$$\oint\limits_C \boldsymbol{F}\cdot\mathrm{d}\boldsymbol{r} = \iint\limits_S \nabla\times\boldsymbol{F}\cdot\boldsymbol{n}\,\mathrm{d}\sigma \qquad \text{مسئلہ سٹوکس}$$

۲۵۰۳۶ مستوی میں چپٹی سطح پر مسئلہ گرین کے مماسی (گردش) روپ کو مسئلہ سٹوکس تین ابعادی فضا میں سطح پر عمومیت دیتا ہے۔ دنوں میں، سطح کے اندرون پر گردش
۲۵۰۳۷ $\boldsymbol{F}$ کے عمودی جزو کا تکمل اور سرحد کے ہمراہ $\boldsymbol{F}$ کا دائری بہاؤ برابر ہو گا۔

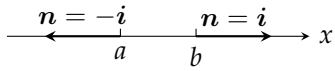

شکل ۱۵.۸۵: یک بعدی فضا میں $[a, b]$ کی سرحد پر باہر رخ اکائی عمودی سمتیات۔

اسی طرح دو ابعادی مستوی میں خطہ پر مسئلہ گرین کے عمودی (بہاؤ) روپ کو مسئلہ پھیلاؤ فضا میں تین ابعادی خطہ پر عمومیت دیتا ہے۔ دونوں میں، خطے کے اندرون پر $\nabla \cdot \boldsymbol{F}$ کا تکمل اور سرحد کو عبور کرتے ہوئے میدان کا کل بہاؤ برابر ہو گا۔

ابھی مزید معلومات حاصل کی جا سکتی ہیں۔ ان تمام نتائج کو ایک بنیادی مسئلے کے مختلف روپ تصور کیا جا سکتا ہے۔ حصہ ۵.۷ میں تکمل کا بنیادی مسئلہ پیش کیا گیا جو کہتا ہے اگر (a, b) پر $f(x)$ قابل تفرق اور $[a, b]$ پر استمراری ہو تب درج ذیل ہو گا۔

$$\int_a^b \frac{\mathrm{d}f}{\mathrm{d}x}\,\mathrm{d}x = f(b) - f(a)$$

اگر پورے $[a, b]$ پر $\boldsymbol{F} = f(x)\boldsymbol{i}$ ہو تب $(\mathrm{d}f/\,\mathrm{d}x) = \nabla \cdot \boldsymbol{F}$ ہو گا۔ اگر ہم $[a, b]$ کی سرحد پر عمودی اکائی سمتی میدان $\boldsymbol{n}$ کو b پر $\boldsymbol{i}$ اور a پر $-\boldsymbol{i}$ مان لیں (شکل ۱۵.۸۵) تب درج ذیل ہو گا۔

$$\begin{aligned} f(b) - f(a) &= f(b)\boldsymbol{i}\cdot\boldsymbol{i} + f(a)\boldsymbol{i}\cdot(-\boldsymbol{i}) \\ &= \boldsymbol{F}(b)\cdot\boldsymbol{n} + \boldsymbol{F}(a)\cdot\boldsymbol{n} \\ &= \text{کی سرحد سے باہر رخ } \boldsymbol{F} \text{ کا کل بہاؤ } [a, b] \end{aligned}$$

تکمل کا بنیادی مسئلہ یوں درج ذیل کہتا ہے۔

$$\boldsymbol{F}(b)\cdot\boldsymbol{n} + \boldsymbol{F}(a)\cdot\boldsymbol{n} = \int_{[a,b]} \nabla\cdot\boldsymbol{F}\,\mathrm{d}x$$

تکمل کا بنیادی مسئلہ، مسئلہ گرین کا عمودی روپ، اور مسئلہ پھیلاؤ تینوں کہتے ہیں کہ تفرقی عامل $\nabla\cdot$ جو کسی خطے میں میدان $\boldsymbol{F}$ پر عمل کرتا ہو اس خطے کی سرحد پر میدان کے عمودی اجزاء کے مجموعے کے برابر ہو گا۔ (یہاں ہم مسئلہ گرین میں موجود لکیری تکمل اور مسئلہ پھیلاؤ میں موجود سطحی تکمل سے مراد سرحد پر ''مجموعہ'' لیتے ہیں۔)

مسئلہ سٹوکس اور مسئلہ گرین کا مماسی روپ دونوں کہتے ہیں کہ درست سمت بندی کر کے، گردش میدان کے عمودی جزو کا تکمل اور سطح کی سرحد پر میدان کے مماسی اجزاء کا مجموعہ برابر ہوں گے۔

مفہوم کو اس طرح سمجھنے سے ایک مربوط اصول ابھرتا ہے جو درج ذیل بیان کیا جا سکتا ہے۔

تفرقی عامل کے زیر اثر میدان کا خطے میں تکمل اور خطے کی سرحد پر، عامل کے لحاظ سے موزوں، میدان کے اجزاء کا مجموعہ برابر ہو گا۔

سوالات

پھیلاؤ کی قیمت کی تلاش

سوال ۱۵.۲۹۹ تا سوال ۱۵.۳۰۲ میں میدان کا پھیلاؤ تلاش کریں۔

سوال ۱۵.۲۹۹: شکل ۱۵.۲۰ میں چکری میدان۔

سوال ۱۵.۳۰۰: شکل ۱۵.۱۹ میں رداسی میدان۔

سوال ۱۵.۳۰۱: شکل ۱۵.۱۸ میں تجاذبی میدان۔

سوال ۱۵.۳۰۲: شکل ۱۵.۱۷ کا سمتی رفتاری میدان۔

مسئلہ پھیلاؤ کے استعمال سے باہر رخ بہاؤ کی قیمت کی تلاش

سوال ۱۵.۳۰۳ تا سوال ۱۵.۳۱۴ میں مسئلہ پھیلاؤ استعمال کر کے خطہ D کی سرحد سے باہر جانب $\boldsymbol{F}$ کا گزرنے والا بہاؤ تلاش کریں۔

سوال ۱۵.۳۰۳: **مکعب** $\boldsymbol{F} = (y-x)\boldsymbol{i} + (z-y)\boldsymbol{j} + (y-x)\boldsymbol{k}$

مکعب D جس کو سطوح $x = \pm 1$ ، $y = \pm 1$ ، اور $z = \pm 1$ گھیرتی ہیں۔

سوال ۱۵.۳۰۴: $\boldsymbol{F} = x^2\boldsymbol{i} + y^2\boldsymbol{a}_{\mathrm{y}} + z^2\boldsymbol{k}$

ا. **مکعب** مکعب D جسے ثمن اول سے مستویات $x = 1$ ، $y = 1$ ، $z = 1$ کاٹتی ہیں۔

ب. **مکعب** مکعب D جسے مستویات $x = \pm 1$ ، $y = \pm 1$ ، اور $z = \pm 1$ گھیرتی ہیں۔

ج. **بیلن** خطہ D جس کو مستویات $z = 0$ اور $z = 1$ ٹھوس بیلن $x^2 + y^2 \leq 4$ سے کاٹتی ہیں۔

سوال ۱۵.۳۰۵: **بیلن اور مکافی جسم** $\boldsymbol{F} = y\boldsymbol{i} + xy\boldsymbol{j} - z\boldsymbol{k}$

ٹھوس بیلن $x^2 + y^2 \leq 4$ کے اندر خطہ D جو مستوی $z = 0$ اور مکافی جسم $z = x^2 + y^2$ کے بیچ ہے۔

سوال ۱۵.۳۰۶: **کرہ** $\boldsymbol{F} = x^2\boldsymbol{i} + xz\boldsymbol{j} + 3z\boldsymbol{k}$

ٹھوس کرہ $D:\ x^2 + y^2 + z^2 \leq 4$

سوال ۱۵.۳۰۷: **کرے کا ٹکڑا** $\boldsymbol{F} = x^2\boldsymbol{i} - 2xy\boldsymbol{j} + 3xz\boldsymbol{k}$

خطہ D وہ ہے جسے ثمن اول سے کرہ $x^2 + y^2 + z^2 = 4$ کاٹتا ہے۔

سوال ۱۵.۳۰۸: **بیلن** $\boldsymbol{F} = (6x^2 + 2xy)\boldsymbol{i} + (2y + x^2z)\boldsymbol{j} + 4x^2y^3\boldsymbol{k}$

مستوی $z = 3$ اور بیلن $x^2 + y^2 = 4$ ثمن اول سے خطہ D کاٹتے ہیں۔

سوال ۱۵.۳۰۹: **پچر** $\boldsymbol{F} = 2xz\boldsymbol{i} - xy\boldsymbol{j} - z^2\boldsymbol{k}$
مستوی $y + z = 4$ اور بیضوی بیلن $4x^2 = y^2 = 16$ ثمن اول سے پچر D کاٹتے ہیں۔

سوال ۱۵.۳۱۰: **کرہ** $\boldsymbol{F} = x^3\boldsymbol{i} + y^3\boldsymbol{j} + z^3\boldsymbol{k}$
خطہ D ٹھوس کرہ $x^2 + y^2 + z^2 \leq a^2$ ہے۔

سوال ۱۵.۳۱۱: **موٹا کرہ** $\boldsymbol{F} = \sqrt{x^2 + y^2 + z^2}(x\boldsymbol{i} + y\boldsymbol{j} + z\boldsymbol{k})$
خطہ D جسے $1 \leq x^2 + y^2 + z^2 \leq 2$ ظاہر کرتا ہے۔

سوال ۱۵.۳۱۲: **موٹا کرہ** $\boldsymbol{F} = (x\boldsymbol{i} + y\boldsymbol{j} + z\boldsymbol{k}) / \sqrt{x^2 + y^2 + z^2}$
خطہ D جسے $1 \leq x^2 + y^2 + z^2 \leq 4$ ظاہر کرتا ہے۔

سوال ۱۵.۳۱۳: **موٹا کرہ** $\boldsymbol{F} = (5x^3 + 12xy^2)\boldsymbol{i} + (y^3 + e^y \sin z)\boldsymbol{j} + (5z^3 + e^y \cos z)\boldsymbol{k}$
کرہ $x^2 + y^2 + z^2 = 1$ اور کرہ $x^2 + y^2 + z^2 = 2$ کے بیچ ٹھوس خطہ D ہے۔

سوال ۱۵.۳۱۴: **موٹا بیلن** $\boldsymbol{F} = \ln(x^2 + y^2)\boldsymbol{i} - (\frac{2z}{x} \tan^{-1} \frac{y}{x})\boldsymbol{j} + z\sqrt{x^2 + y^2}\boldsymbol{k}$
خطہ D موٹی چادر کا بیلن $1 \leq x^2 + y^2 \leq 2$ ، $-1 \leq z \leq 2$ ہے۔

گردش اور پھیلاؤ کے خواص

سوال ۱۵.۳۱۵: **گردش G کا پھیلاؤ صفر ہو گا**

ا. دکھائیں اگر میدان $\boldsymbol{G} = M\boldsymbol{i} + N\boldsymbol{j} + P\boldsymbol{k}$ کے مطلوبہ جزوی تفرق استمراری ہوں، تب $\nabla \cdot \nabla \times \boldsymbol{G} = 0$ ہو گا۔

ب. کیا آپ اس سے، میدان $\nabla \times \boldsymbol{G}$ کا بند سطح سے گزرتے بہاؤ کے بارے میں، کوئی نتیجہ اخذ کر سکتے ہیں؟ اپنے جواب کی وجہ پیش کریں۔

سوال ۱۵.۳۱۶: فرض کریں $\boldsymbol{F}_1$ اور $\boldsymbol{F}_2$ قابل تفرق سمتی میدان ہیں جبکہ a اور b حقیقی اختیاری مستقل ہیں۔ درج ذیل تماثل کی تصدیق کریں۔

ا. $\nabla \cdot (a\boldsymbol{F}_1 + b\boldsymbol{F}_2) = a\nabla \cdot \boldsymbol{F}_1 + b\nabla \cdot \boldsymbol{F}_2$

ب. $\nabla \times (a\boldsymbol{F}_1 + b\boldsymbol{F}_2) = a\nabla \times \boldsymbol{F}_1 + b\nabla \times \boldsymbol{F}_2$

ج. $\nabla \cdot (\boldsymbol{F}_1 \times \boldsymbol{F}_2) = \boldsymbol{F}_2 \cdot \nabla \times \boldsymbol{F}_1 - \boldsymbol{F}_1 \cdot \nabla \times \boldsymbol{F}_2$

سوال ۱۵.۳۱۷: فرض کریں $\boldsymbol{F}$ قابل تفرق سمتی میدان جبکہ $g(x, y, z)$ قابل تفرق غیر سمتی میدان ہے۔ درج ذیل تماثل کی تصدیق کریں۔

ا. $\nabla \cdot (g\boldsymbol{F}) = g\nabla \cdot \boldsymbol{F} + \nabla g \cdot \boldsymbol{F}$

ب. $\nabla \times (g\boldsymbol{F}) = g\nabla \times \boldsymbol{F} + \nabla g \times \boldsymbol{F}$

سوال ۱۵.۳۱۸: قابل تفرق سمتی میدان $\boldsymbol{F} = M\boldsymbol{i} + N\boldsymbol{j} + P\boldsymbol{k}$ کے لئے علامتی اظہار $\boldsymbol{F} \cdot \nabla$ کی تعریف درج ذیل ہے۔

$$M\frac{\partial}{\partial x} + N\frac{\partial}{\partial y} + P\frac{\partial}{\partial z}$$

قابل تفرق سمتی میدان $\boldsymbol{F}_1$ اور $\boldsymbol{F}_2$ کے لئے درج ذیل کی تصدیق کریں۔

ا. $\nabla \times (\boldsymbol{F}_1 \times \boldsymbol{F}_2) = (\boldsymbol{F}_2 \cdot \nabla)\boldsymbol{F}_1 - (\boldsymbol{F}_1 \cdot \nabla)\boldsymbol{F}_2 + (\nabla \cdot \boldsymbol{F}_2)\boldsymbol{F}_1 - (\nabla \cdot \boldsymbol{F}_1)\boldsymbol{F}_2$

ب. $\nabla(\boldsymbol{F}_1 \cdot \boldsymbol{F}_2) = (\boldsymbol{F}_1 \cdot \nabla)\boldsymbol{F}_2 + (\boldsymbol{F}_2 \cdot \nabla)\boldsymbol{F}_1 + \boldsymbol{F}_1 \times (\nabla \times \boldsymbol{F}_2) + \boldsymbol{F}_2 \times (\nabla \times \boldsymbol{F}_1)$

نظریہ اور مثالیں

سوال ۱۵.۳۱۹: سمتی میدان $\boldsymbol{F}$ کے اجزاء کے یک رتبی تفرق فضا کے ایک ایسے حصہ میں استمراری ہیں جس کے اندر ہموار بند سطح S میں محدود خطہ D پایا جاتا ہے۔ اگر $\boldsymbol{F} \leq 1$ ہو کیا درج ذیل کی قیمت کی حد بندی ممکن ہے؟ اپنے جواب کی وجہ پیش کریں۔

$$\iiint\limits_D \nabla \cdot \boldsymbol{F}\, \mathrm{d}H$$

سوال ۱۵.۳۲۰: مستوی xy پر اکائی مربع دکھائے گئے کعبی نما سطح کا تل ہے۔ سطح کے چار اطراف مستویات $x = 0$ ، $x = 1$ ، $y = 0$ ، اور $y = 1$ میں پائے جاتے ہیں۔ بالائی سطح اختیاری ہموار لیکن نامعلوم ہے۔ فرض کریں $\boldsymbol{F} = x\boldsymbol{i} - 2y\boldsymbol{j} + (z+3)\boldsymbol{k}$ ہے اور باہر رخ بہاؤ الف طرف سے 1 اور ب طرف سے -3 ہے۔ کیا آپ بالائی سطح سے باہر رخ بہاؤ کے بارے میں نتیجہ اخذ کر سکتے ہیں؟ اپنے جواب کی وجہ پیش کریں۔

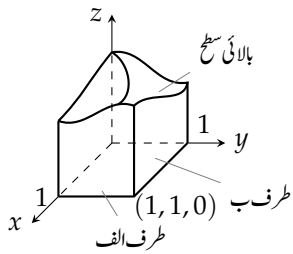

سوال ۱۵.۳۲۱:

ا. دکھائیں کہ ہموار بند سطح S سے تعین گر سمتی میدان $\boldsymbol{F} = x\boldsymbol{i} + y\boldsymbol{j} + z\boldsymbol{k}$ کا باہر رخ بہاؤ، اس خطے کے حجم کے تین گنّا ہے جس کو سطح S گھیرتی ہے۔

ب. فرض کریں S کا باہر رخ اکائی عمودی سمتیہ $\boldsymbol{n}$ ہے۔ دکھائیں ایسا ممکن نہیں کہ S کے ہر نقطے پر $\boldsymbol{F}$ سمتیہ $\boldsymbol{n}$ کو قائمہ ہو۔

سوال ۱۵.۳۲۲: **زیادہ سے زیادہ بہاؤ** ان تمام ٹھوس مستطیل میں سے، جنہیں عدم مساوات $0 \leq x \leq a$ ، $0 \leq y \leq b$ ، اور $0 \leq z \leq 1$ بیان کرتی ہوں، وہ تلاش کریں جس کے چار اطراف سے باہر رخ $\boldsymbol{F} = (-x^2 - 4xy)\boldsymbol{i} - 6yz\boldsymbol{j} + 12z\boldsymbol{k}$ کا بہاؤ زیادہ سے زیادہ ہو گا۔ زیادہ سے زیادہ بہاؤ کی قیمت کیا ہو گی؟

سوال ۱۵.۳۲۳: **ٹھوس خطے کا حجم** فرض کریں S اور D مسئلہ پھیلاؤ کی شرائط پر پورا اترتے ہیں، اور $\boldsymbol{F} = x\boldsymbol{i} + y\boldsymbol{j} + z\boldsymbol{k}$ ہے۔ دکھائیں کہ D کا حجم درج ذیل دیگا۔

$$D \text{ کا حجم} = \frac{1}{3} \iint\limits_S \boldsymbol{F} \cdot \boldsymbol{n} \, \mathrm{d}\sigma$$

سوال ۱۵.۳۲۴: **مستقل میدان کا بہاؤ** دکھائیں کہ مستقل سمتی میدان $\boldsymbol{F} = \boldsymbol{C}$ کا کسی بھی بند سطح، جس پر مسئلہ پھیلاؤ کا اطلاق ہوتا ہو، سے باہر رخ بہاؤ صفر ہو گا۔

سوال ۱۵.۳۲۵: **ہارمونی تفاعلات** فضا کے خطہ D میں تفاعل $f(x, y, z)$ اس صورت **ہارمونی**[۴۴] کہلاتا ہے جب وہ پورے D میں درج ذیل لاپلاسی مساوات کو مطمئن کرتا ہو۔

$$\nabla^2 f = \nabla \cdot \nabla f = \frac{\partial^2 f}{\partial x^2} + \frac{\partial^2 f}{\partial y^2} + \frac{\partial^2 f}{\partial z^2} = 0$$

ا. فرض کریں ہموار سطح S ، جس کا منتخب اکائی عمودی سمتیہ $\boldsymbol{n}$ ہے، محدود خطہ D کو گھیرتی ہے اور f اس پورے خطے میں ہارمونی ہے۔ دکھائیں کہ S پر $\nabla f \cdot \boldsymbol{n}$ کا تکمل، یعنی $\boldsymbol{n}$ کے رخ f کا تفرق، صفر ہے۔

ب. دکھائیں اگر D میں f ہارمونی ہو تب درج ذیل ہو گا۔

$$\iint\limits_S f \nabla f \cdot \boldsymbol{n} \, \mathrm{d}\sigma = \iiint\limits_D |\nabla f|^2 \, \mathrm{d}H$$

سوال ۱۵.۳۲۶: **ڈھلوان میدان کا بہاؤ** فرض کریں ثمن اول میں موجود کرہ $x^2 + y^2 + z^2 \leq a^2$ کے ٹکڑے کی سطح S ہے اور $f(x, y, z) = \ln \sqrt{x^2 + y^2 + z^2}$ ہے۔ درج ذیل کی قیمت تلاش کریں۔ (سمتیہ $\boldsymbol{n}$ کے رخ f کا تفرق $\nabla f \cdot \boldsymbol{n}$ ہے۔)

$$\iint\limits_S \nabla f \cdot \boldsymbol{n} \, \mathrm{d}\sigma$$

---

[۴۴] harmonic

سوال ۱۵.۳۲۷: **گرین کا کلیہ اول** ٹکڑوں میں ہموار بند سطح S میں بند پورے خطے D پر غیر سمتی تفاعلات f اور g کے یک رتبی اور دو رتبی جزوی تفرق استمراری ہیں۔ دکھائیں کہ درج ذیل ہو گا۔

$$\iint\limits_S f\nabla g\cdot \boldsymbol{n}\,\mathrm{d}\sigma = \iiint\limits_D (f\nabla^2 g + \nabla f\cdot\nabla g)\,\mathrm{d}H \tag{۹}$$

مساوات ۹ **گرین کا کلیہ اول**[۴۵] ہے۔ (اشارہ: میدان $\boldsymbol{F} = f\nabla g$ پر مسئلہ پھیلاؤ کا اطلاق کریں۔)

سوال ۱۵.۳۲۸: **گرین کا کلیہ دوم** (سوال ۱۵.۳۲۷ کو آگے بڑھاتے ہیں۔) مساوات ۹ میں f اور g کی جگہیں آپس میں تبدیل کر کے اسی قسم کا دوسرا کلیہ اخذ کریں۔ اس کلیہ کو مساوات ۹ سے منفی کر کے درج ذیل دکھائیں۔

$$\iint\limits_S (f\nabla g - g\nabla f)\cdot \boldsymbol{n}\,\mathrm{d}\sigma = \iiint\limits_D (f\nabla^2 g - g\nabla^2 f)\,\mathrm{d}H \tag{۱۰}$$

مساوات ۱۰ **گرین کا کلیہ دوم**[۴۶] ہے۔

سوال ۱۵.۳۲۹: **کمیت کی بقا** فضا میں خطہ D پر $\boldsymbol{v}(t,x,y,z)$ استمراری قابل تفرق سمتی میدان ہے، جبکہ $p(t,x,y,z)$ استمراری قابل تفرق غیر سمتی تفاعل ہے۔ متغیر t وقت کو ظاہر کرتا ہے۔ **کمیت کی بقا کا قانون**[۴۷] درج ذیل کہتا ہے:

$$\frac{\mathrm{d}}{\mathrm{d}t}\iiint\limits_D p(t,x,y,z)\,\mathrm{d}H = -\iint\limits_S p\boldsymbol{v}\cdot\boldsymbol{n}\,\mathrm{d}\sigma$$

جہاں S وہ سطح ہے جو D کو گھیرتی ہے۔

ا. سمتی بہاؤ میدان $\boldsymbol{v}$ اور لمحہ t پر نقطہ (x,y,z) پر سیال کی کثافت p لے کر کمیت کی بقا کے قانون کا طبیعی مفہوم پیش کریں۔

ب. مسئلہ پھیلاؤ اور لیبنٹز کا قاعدہ:

$$\frac{\mathrm{d}}{\mathrm{d}t}\iiint\limits_D p(t,x,y,z)\,\mathrm{d}H = \iiint\limits_D \frac{\partial p}{\partial t}\,\mathrm{d}H$$

استعمال کر کے دکھائیں کہ کمیت کی بقا کا قانون استمراری مساوات:

$$\nabla\cdot p\boldsymbol{v} + \frac{\partial p}{\partial t} = 0$$

---

[۴۵] Greens'sfirstformula
[۴۶] Green'ssecondformula
[۴۷] LawofConservationofMass

کا معادل ہے۔(اول رکن $\nabla \cdot p\boldsymbol{v}$ میں متغیر t اٹل رکھا جاتا ہے، جبکہ دوسرے رکن $\partial p/\partial t$ میں، ہم فرض کرتے ہیں کہ نقطہ (x, y, z) خطہ D میں اٹل رکھا گیا ہے۔)

سوال ۱۵.۳۳۰: **نفوذ حرکی مساوات** فرض کریں فضا میں خطہ D میں مکین ٹھوس جسم کے نقطہ (x, y, z) کا درجہ حرارت لمحہ t پر تفاعل $T(t, x, y, z)$ دیتا ہو جس کے دوہرے تفرق استمراری ہیں۔ جسم کی حری استعداد c اور کمیتی کثافت ρ ہے۔ مقدار $c\rho T$ جسم کی فی اکائی حجم حری توانائی کہلاتی ہے۔

ا. بتلائیں $-\nabla T$ کیوں حرارت کے بہاؤ کا رخ دیگا۔

ب. **بہاؤ حر کا سمتیہ**[۴۸] $-k\nabla T$ لیں۔(یہاں مستقل k **موصلیت**[۴۹] کہلاتا ہے۔) کمیتی بقا کے قانون (سوال ۱۵.۳۲۹) میں $-k\nabla T = \boldsymbol{v}$ اور $c\rho T = p$ لے کر مساوات نفوذ (برائے حرارت):

$$\frac{\partial T}{\partial t} = K\nabla^2 T$$

اخذ کریں، جہاں $K = k/(c\rho) > 0$ **نفوذیت**[۵۰] کا مستقل کہلاتا ہے۔(دھیان رہے اگر یکساں موصل سلاخ جس کے سرے مکمل غیر موصل رکھے گئے ہوں کے نقطہ x اور لمحہ t پر درجہ حرارت کو $T(t, x)$ ظاہر کرتا ہو، تب $\nabla^2 T = \partial^2 T/\partial x^2$ ہوگا اور مساوات نفوذ، باب ۱۳ کے اضافی سوالات میں دی گئی یک بعدی مساوات حرد یگی۔)

نظر ثانی کی خاطر چند سوالات

سوال ۱۵.۳۳۱: لکیری تکملات کیا ہوتے ہیں؟ ان کی قیمتیں کیسے تلاش کی جاتی ہیں؟ مثال دیں۔

سوال ۱۵.۳۳۲: اسپرنگ کا کمیتی مرکز لکیری تکملات سے کیسے حاصل کیا جا سکتا ہے؟ وضاحت کریں۔

سوال ۱۵.۳۳۳: سمتی میدان، اور ڈھلوان میدان سے کیا مراد ہے؟ مثال پیش کریں۔

سوال ۱۵.۳۳۴: منحنی کے ہمراہ ذرے کو حرکت دینے والے قوت کے کام کی قیمت کیسے تلاش کی جائیگی؟ ایک مثال دیں۔

سوال ۱۵.۳۳۵: بہاؤ، دائری بہاؤ، اور گردش سے کیا مراد ہے؟

سوال ۱۵.۳۳۶: راہ پر غیر منحصر میدان کی کیا خاصیت ہے؟

سوال ۱۵.۳۳۷: آپ کیسے جان پاتے ہیں کہ میدان بقائی ہے؟

سوال ۱۵.۳۳۸: مخفی تفاعل سے کیا مراد ہے؟ مثال سے دکھائیں کہ بقائی میدان کا مخفی تفاعل کیسے تلاش کیا جاتا ہے۔

---

[۴۸] energyfluxvector
[۴۹] conductivity
[۵۰] diffusivity

سوال ۱۵.۳۳۹: تفرقی روپ سے کیا مراد ہے؟ ایسا روپ قطعی ہونے سے کیا مراد ہے؟ قطعی ہونے کی پرکھ کیا ہے؟ مثال پیش کریں۔

سوال ۱۵.۳۴۰: سمتی میدان کا پھیلاؤ کیا ہوگا؟ اس کا مفہوم بیان کریں۔

سوال ۱۵.۳۴۱: سمتی میدان کی گردش کیا ہوگی؟ اس کا مفہوم بیان کریں۔

سوال ۱۵.۳۴۲: مسئلہ گرین کیا ہے؟ اس کا مفہوم بیان کریں

سوال ۱۵.۳۴۳: فضا میں قوسی سطح کے رقبے کی قیمت کیسے تلاش کی جاتی ہے؟ مثال پیش کریں۔

سوال ۱۵.۳۴۴: سمت بند سطح سے کیا مراد ہے؟ سمت بند سطح کو عبور کرتے ہوئے، تین بعدی سمتی میدان کے بہاؤ کی قیمت کیسے تلاش کی جاتی ہے؟ مثال دیں۔

سوال ۱۵.۳۴۵: سطحی تکملات کیا ہوتے ہیں؟ ان کی مدد سے کیا تلاش کیا جا سکتا ہے؟ مثال دیں۔

سوال ۱۵.۳۴۶: مقدار معلوم سطوح کیا ہوتی ہیں؟ ان سطوح کا رقبہ کیسے تلاش کیا جاتا ہے؟ مثال دیں۔

سوال ۱۵.۳۴۷: مقدار معلوم سطح پر تفاعل کا تکمل کیسے حاصل کیا جاتا ہے؟ مثال دیں۔

سوال ۱۵.۳۴۸: مسئلہ سٹوکس کیا ہے؟ اس کا مفہوم بیان کریں۔

سوال ۱۵.۳۴۹: باب میں پیش، بقائی میدان کے نتائج کا خلاصہ پیش کریں۔

سوال ۱۵.۳۵۰: مسئلہ پھیلاؤ کیا ہے؟ اس کا مفہوم بیان کریں۔

سوال ۱۵.۳۵۱: مسئلہ گرین کو مسئلہ سٹوکس عمومیت کیسے دیتا ہے؟

سوال ۱۵.۳۵۲: مسئلہ گرین، مسئلہ سٹوکس، اور مسئلہ پھیلاؤ کو کیسے ایک ہی بنیادی مسئلے کے مختلف روپ تصور کیا جا سکتا ہے؟

مشق

لکیری تکمل کی قیمت

سوال ۱۵.۳۵۳: مبدا کو نقطہ $(1,1,1)$ سے فضا میں جوڑنے کے دو راستے شکل میں دکھائے گئے ہیں۔ باری باری ان راہ پر $f(x,y,z) = 2x - 3y^2 - 2z + 3$ کا تکمل لیں۔

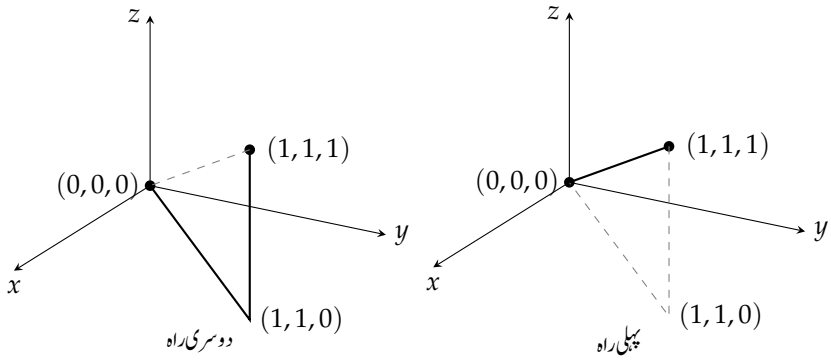

۲۵۱۹۷

۲۵۱۹۸

۲۵۱۹۹ سوال ۱۵.۳۵۴: مبدا کو نقطہ $(1,1,1)$ سے فضا میں جوڑنے کے تین راستے شکل میں دکھائے گئے ہیں۔ باری باری ان راہ پر
۲۵۲۰۰ $f(x,y,z) = x^2 + y - z$ کا تکمل لیں۔

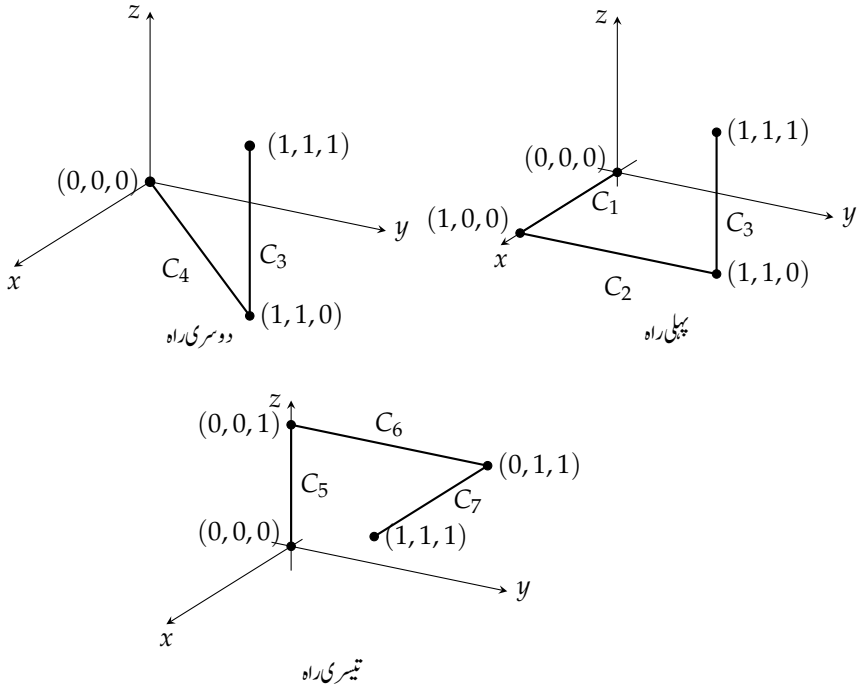

۲۵۲۰۱

۲۵۲۰۲

۲۵۲۰۳ سوال ۱۵.۳۵۵: دائرہ $\boldsymbol{r}(t) = (a\cos t)\boldsymbol{j} + (a\sin t)\boldsymbol{k},\ 0 \leq t \leq 2\pi$ پر تفاعل
۲۵۲۰۴ $f(x,y,z) = \sqrt{x^2+z^2}$ کا تکمل پر لیں۔

سوال ۱۵.۳۵۶: درپیچیدہ[۵۱] منحنی $\boldsymbol{r}(t) = (\cos t + t\sin t)\boldsymbol{i} + (\sin t - t\cos t)\boldsymbol{j},\ 0 \le t \le \sqrt{3}$ پر تفاعل $f(x,y,z) = \sqrt{x^2+y^2}$ تکمل کریں۔

مشق ۱۵.۳۵۷ اور ۱۵.۳۵۸ میں تکملات کی قیمت تلاش کریں۔

سوال ۱۵.۳۵۷:

$$\int_{(-1,1,1)}^{(4,-3,0)} \frac{\mathrm{d}x + \mathrm{d}y + \mathrm{d}z}{\sqrt{x+y+z}}$$

سوال ۱۵.۳۵۸:

$$\int_{(1,1,1)}^{(10,3,3)} \mathrm{d}x - \sqrt{\frac{z}{y}}\,\mathrm{d}y - \sqrt{\frac{y}{z}}\,\mathrm{d}z$$

سوال ۱۵.۳۵۹: کرہ $x^2+y^2+z^2 = 5$ سے مستوی $z = -1$ ایک دائرہ کاٹتا ہے۔ اوپر سے دیکھتے ہوئے اس دائرے پر گھڑی وار چلتے ہوئے $\boldsymbol{F} = -(y\sin z)\boldsymbol{i} + (x\sin z)\boldsymbol{j} + (xy\cos z)\boldsymbol{k}$ کا تکمل لیں۔

سوال ۱۵.۳۶۰: تفاعل $\boldsymbol{F} = 3x^2y\boldsymbol{i} + (x^3+1)\boldsymbol{j} + 9z^2\boldsymbol{k}$ کا تکمل اس دائرے پر لیں جس کو کرہ $x^2+y^2+z^2 = 9$ سے مستوی $x = 2$ کاٹتا ہے۔

مشق ۱۵.۳۶۱ اور ۱۵.۳۶۲ میں تکمل کی قیمت تلاش کریں۔

سوال ۱۵.۳۶۱:

$$\int_C 8x\sin y\,\mathrm{d}x - 8y\cos x\,\mathrm{d}y$$

مربع C کو ربع اول سے لکیر $x = \pi/2$ اور $y = \pi/2$ کاٹتی ہیں۔

سوال ۱۵.۳۶۲:

$$\int_C y^2\,\mathrm{d}x + x^2\,\mathrm{d}y$$

C دائرہ $x^2+y^2 = 4$ ہے۔

---

[۵۱] involute

سطحی تکملات کی قیمت کی تلاش

سوال ۱۵.۳۶۳: **بیضوی خطے کا رقبہ** اس بیضوی خطے کا رقبہ تلاش کریں جسے بیلن $x^2+y^2=1$ مستوی $x+y+z=1$ سے کاٹتا ہے۔

سوال ۱۵.۳۶۴: **قطع مکافی ٹوپی کا رقبہ** قطع مکافی مجسم $y^2+z^2=3x$ سے مستوی $x=1$ ایک ٹوپی کاٹتا ہے۔اس ٹوپی کا رقبہ تلاش کریں۔

سوال ۱۵.۳۶۵: **کروی ٹوپی کا رقبہ** کرہ $x^2+y^2+z^2=1$ کے اوپری حصے سے مستوی $z=\sqrt{2}/2$ ایک ٹوپی کاٹتا ہے۔اس ٹوپی کا رقبہ تلاش کریں۔

سوال ۱۵.۳۶۶:

ا. **نصف کرہ کو بیلن کاٹتا ہے** نصف کرہ $x^2+y^2+z^2=4,\ z\geq 0$ سے بیلن $x^2+y^2=2x$ سطح کاٹتا ہے۔اس سطح کا رقبہ تلاش کریں۔

ب. نصف کرہ کے اندر موجود بیلن کے ٹکڑے کا رقبہ تلاش کریں۔(اشارہ: مستوی xy پر قائمہ تظلیل لیں۔یا تکمل $\int h\,\mathrm{ds}$ تلاش کریں جہاں کرہ کے اندر h بیلن کا قد دیتا ہے اور مستوی xy میں $x^2+y^2=2x$ کا چھوٹا قطع ds ہے۔)

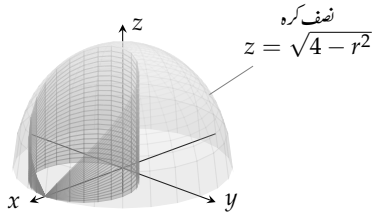

سوال ۱۵.۳۶۷: **مثلث کا رقبہ** ثمن اول کو مستوی $x/a+y/b+z/c=1,\ (a,b,c>1)$ ایک مثلث میں قطع کرتی ہیں۔اس مثلث کا رقبہ تلاش کریں۔نتیجے کی تصدیق سمتیہ حساب کر کے کریں۔

سوال ۱۵.۳۶۸: **قطع مکافی بیلن کو مستویات کاٹتی ہیں** مستویات $x=0$ ، $x=3$ ،اور $z=0$ قطع مکافی بیلن $y^2-z=1$ سے ایک سطح کاٹتی ہیں۔اس سطح پر درج ذیل کا تکمل لیں۔

ا. $g(x,y,z)=\frac{yz}{\sqrt{4y^2+1}}$

ب. $g(x,y,z)=\frac{z}{\sqrt{4y^2+1}}$

سوال ۱۵.۳۶۹: **بیلن کو مستویات قطع کرتی ہیں** ثمن اول میں بیلن $x^2+z^2=25$ کے اس حصے پر، جو مستویات $x=0$ اور $x=1$ کے بیچ مستوی $z=3$ سے اوپر پایا جاتا ہے، $g(x,y,z)=x^4y(y^2+z^2)$ کا تکمل لیں۔

سوال ۱۵.۳۷۰: حکومت پاکستان معدنیات کی تلاش کی غرض سے خطوط طول بلد $62°13'0''$ اور $69°13'0''$ کے درمیان اور شمالی خطوط عرض بلد $41°$ اور $45°$ کے بیچ علاقے کا معائنہ کرنا چاہتی ہے۔ زمین کا رداس $R = 6371\ \text{km}$ لیتے ہوئے اس علاقے کا رقبہ تلاش کریں۔

مقدار معلوم شدہ سطوح

مشق ۱۵.۳۷۱ تا ۱۵.۳۷۶ میں سطوح کے مقدار معلوم روپ تلاش کریں۔ (چونکہ ایسا کرنے کے کئی طریقے ہیں لہٰذا آپ کے جواب، کتاب میں دیے گئے جواب سے مختلف ہو سکتے ہیں۔)

سوال ۱۵.۳۷۱: **کروی پٹی** مستویات $z = -3$ اور $z = 3\sqrt{3}$ کے بیچ کرہ $x^2 + y^2 + z^2 = 36$ کا ٹکڑا۔

سوال ۱۵.۳۷۲: **قطع مکافی ٹوپی** مستوی $z = -2$ سے اوپر قطع مکافی جسم $z = -(x^2 + y^2)/2$ کا ٹکڑا۔

سوال ۱۵.۳۷۳: **مخروط** مخروط $z = 1 + \sqrt{x^2 + y^2},\ z \leq 3$

سوال ۱۵.۳۷۴: **مربع کے اوپر مستوی** ربع اول اور مستوی xy میں مربع $0 \leq x \leq 2$ ، $0 \leq y \leq 2$ کے اوپر موجود مستوی $4x + 2y + 4z = 12$ کا ٹکڑا۔

سوال ۱۵.۳۷۵: **قطع مکافی مجسم کا ٹکڑا** مستوی xy سے اوپر موجود قطع مکافی مجسم $y = 2(x^2 + z^2),\ y \leq 2$ کا ٹکڑا۔

سوال ۱۵.۳۷۶: **نصف کرے کا ٹکڑا** ثمن اول میں موجود کرہ $x^2 + y^2 + z^2 = 10,\ y \geq 0$ کا ٹکڑا۔

سوال ۱۵.۳۷۷: **سطح رقبہ** درج ذیل سطح کا رقبہ تلاش کریں۔

$$\boldsymbol{r}(u, v) = (u + v)\boldsymbol{i} + (u - v)\boldsymbol{j} + v\boldsymbol{k}$$
$$0 \leq u \leq 1, \qquad 0 \leq v \leq 1$$

سوال ۱۵.۳۷۸: **سطح تکمل** مشق ۱۵.۳۷۷ کی سطح پر $f(x, y, z) = xy - z^2$ کا تکمل لیں۔

سوال ۱۵.۳۷۹: **چکر دار زینہ کا رقبہ** چکر دار زینہ جس کی مساوات درج ذیل ہے شکل میں دکھایا گیا ہے۔ اس کا رقبہ تلاش کریں۔

$$\boldsymbol{r}(r, \phi) = (r\cos\phi)\boldsymbol{i} + (r\sin\phi)\boldsymbol{j} + \phi\boldsymbol{k},\ 0 \leq \phi \leq 2\pi,\ 0 \leq r \leq 1$$

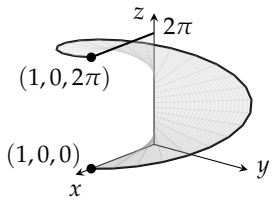

۲۵۲۶۰ سوال ۱۵.۳۸۰: **سطحی تکمل** تکمل $\iint\limits_S \sqrt{x^2+y^2+1}\,\mathrm{d}\sigma$ کو مشق ۱۵.۳۷۹ میں دی گئی سطح پر حل کریں۔

۲۵۲۶۱

۲۵۲۶۲ **بقائی میدان**

۲۵۲۶۳ مشق ۱۵.۳۸۱ تا ۱۵.۳۸۴ میں بقائی اور غیر بقائی میدان کی نشاندہی کریں۔

۲۵۲۶۴ سوال ۱۵.۳۸۱: $\boldsymbol{F} = x\boldsymbol{i} + y\boldsymbol{j} + z\boldsymbol{k}$

۲۵۲۶۵ سوال ۱۵.۳۸۲: $\boldsymbol{F} = (x\boldsymbol{i} + y\boldsymbol{j} + z\boldsymbol{k})/(x^2+y^2+z^2)^{3/2}$

۲۵۲۶۶ سوال ۱۵.۳۸۳: $\boldsymbol{F} = xe^y\boldsymbol{i} + ye^z\boldsymbol{j} + ze^x\boldsymbol{k}$

۲۵۲۶۷ سوال ۱۵.۳۸۴: $\boldsymbol{F} = (\boldsymbol{i} + z\boldsymbol{j} + y\boldsymbol{k})/(x+yz)$

۲۵۲۶۸

۲۵۲۶۹ مشق ۱۵.۳۸۵ اور ۱۵.۳۸۶ میں میدان کے مخفی تفاعل تلاش کریں۔

۲۵۲۷۰ سوال ۱۵.۳۸۵: $\boldsymbol{F} = 2\boldsymbol{i} + (2y+z)\boldsymbol{j} + (y+1)\boldsymbol{k}$

۲۵۲۷۱ سوال ۱۵.۳۸۶: $\boldsymbol{F} = (z\cos xz)\boldsymbol{i} + e^y\boldsymbol{j} + (x\cos xz)\boldsymbol{k}$

۲۵۲۷۲

۲۵۲۷۳ **کام اور دائری بہاؤ**

۲۵۲۷۴ مشق ۱۵.۳۵۳ میں نقطہ $(0,0,0)$ سے $(1,1,1)$ تک راہ کے ہمراہ مشق ۱۵.۳۸۷ اور ۱۵.۳۸۸ کے میدان کا کام تلاش کریں۔

۲۵۲۷۵ سوال ۱۵.۳۸۷: $\boldsymbol{F} = 2xy\boldsymbol{i} + \boldsymbol{j} + x^2\boldsymbol{k}$

۲۵۲۷۶ سوال ۱۵.۳۸۸: $\boldsymbol{F} = 2xy\boldsymbol{i} + x^2\boldsymbol{j} + \boldsymbol{k}$

۲۵۲۷۷ سوال ۱۵.۳۸۹: **دو طریقوں سے کام کی تلاش** مسطح منحنی $\boldsymbol{r}(t) = (e^t\cos t)\boldsymbol{i} + (e^t\sin t)\boldsymbol{j}$ پر چلتے ہوئے نقطہ
۲۵۲۷۸ $(1,0)$ سے $(e^{2\pi},0)$ تک درج ذیل قوت $\boldsymbol{F} = (x\boldsymbol{i} + y\boldsymbol{j})/(x^2+y^2)^{3/2}$ کا کام دو طریقوں سے تلاش کریں۔

۲۵۲۷۹ ا. منحنی کا مقدار معلوم روپ استعمال کر کے تکمل کام کی قیمت تلاش کریں۔

۲۵۲۸۰ ب. سمتیہ $\boldsymbol{F}$ کے مخفی تفاعل کی قیمت تلاش کرتے ہوئے۔

۲۵۲۸۱ سوال ۱۵.۳۹۰: **مختلف راہ کے ہمراہ سیال کا گزر** میدان $\boldsymbol{F} = \nabla(x^2ze^y)$ کا بہاؤ درج ذیل پر تلاش کریں۔

۲۵۲۸۲ ا. مثبت محور y سے دیکھتے ہوئے اس ترخیم C پر ایک چکر گھڑی وار چل کر، جس پر مستوی $x+y+z=1$ بیلن $x^2+z^2=25$ کو
۲۵۲۸۳ کاٹتا ہے۔

۲۵۲۸۴ ب. مشق ۱۵.۳۷۹ میں چکردار زینہ کی قوسی سرحد کے ہمراہ $(1,0,0)$ سے $(1,0,2\pi)$ تک۔

مشق ۱۵.۳۹۱ اور ۱۵.۳۹۲ میں مسئلہ سٹوکس کا تکمل استعمال کر کے C پر دی گئی سمت چلتے ہوئے میدان $\boldsymbol{F}$ کا دائری بہاؤ تلاش کریں۔

سوال ۱۵.۳۹۱: **ترخیم پر دائری بہاؤ** $\boldsymbol{F} = y^2\boldsymbol{i} - y\boldsymbol{j} + 3z^2\boldsymbol{k}$

مستوی $2x + 6y - 3z = 6$ بیلن $x^2 + y^2 = 1$ کو ترخیم C پر ملتا ہے۔ اوپر سے دیکھتے ہوئے ترخیم پر خلاف گھڑی چلیں۔

سوال ۱۵.۳۹۲: **دائرے کے ہمراہ بہاؤ** $\boldsymbol{F} = (x^2 + y)\boldsymbol{i} + (x + y)\boldsymbol{j} + (4y^2 - z)\boldsymbol{k}$

مستوی $z = -y$ کرہ $x^2 + y^2 + z^2 = 4$ کو دائرہ C پر ملتا ہے۔ اوپر سے دیکھتے ہوئے دائرے پر خلاف گھڑی چلیں۔

کمیت اور معیار اثر

سوال ۱۵.۳۹۳: **مختلف کثافت کے تار** منحنی $\boldsymbol{r}(t) = \sqrt{2t}\boldsymbol{i} + \sqrt{2t}\boldsymbol{j} + (4 - t^2)\boldsymbol{k},\ 0 \le t \le 1$ کے ہمراہ باریک تار کی کمیت تلاش کریں اگر t پر تار کی کثافت (ا) $\delta = 3t$ اور (ب) $\delta = 1$ ہو۔

سوال ۱۵.۳۹۴: **متغیر کثافت کا تار** منحنی $\boldsymbol{r}(t) = t\boldsymbol{i} + (2/3)t^{3/2}\boldsymbol{k},\ 0 \le t \le 2$ کے ہمراہ تار کی کثافت t پر $\delta = 3\sqrt{5 + t}$ ہے۔ تار کا مرکز کمیت تلاش کریں۔

سوال ۱۵.۳۹۵: **متغیر کثافت کا تار** باریک تار جس کی کثافت t پر $\delta = 1/(t + 1)$ ہے درج ذیل منحنی کے ہمراہ ہے۔ تار کا مرکز کمیت اور جمودی معیار اثر اور رداس دوار محدد ی محور کے لحاظ سے تلاش کریں۔

$$\boldsymbol{r}(t) = t\boldsymbol{i} + \frac{2\sqrt{2}}{3}t^{3/2}\boldsymbol{j} + \frac{t^2}{2}\boldsymbol{k}, \qquad 0 \le t \le 2$$

سوال ۱۵.۳۹۶: **محراب کا مرکز کمیت** مستوی xy میں باریک دھاتی محراب نصف دائرہ $y = \sqrt{a^2 - x^2}$ کے ہمراہ موجود ہے۔ نقطہ (x, y) پر محراب کی کثافت $\delta(x, y) = 2a - y$ ہے۔ محراب کا مرکز کمیت تلاش کریں۔

سوال ۱۵.۳۹۷: **مستقل کثافت کا تار** منحنی $\boldsymbol{r}(t) = (e^t \cos t)\boldsymbol{i} + (e^t \sin t)\boldsymbol{j} + e^t\boldsymbol{k},\ 0 \le t \le \ln 2$ کے ہمراہ مستقل کثافت $\delta = 1$ کا تار موجود ہے۔ گزارش ہے کہ $\bar{z}$ ، I_z ، اور R_z تلاش کریں۔

سوال ۱۵.۳۹۸: **مستقل کثافت پیچ دار تار** پیچ دار منحنی $\boldsymbol{r}(t) = (2\sin t)\boldsymbol{i} + (2\cos t)\boldsymbol{j} + 3t\boldsymbol{k},\ 0 \le t \le 2\pi$ کے ہمراہ موجود تار کی مستقل کثافت δ ہے۔ تار کی کمیت اور اس کا مرکز کمیت تلاش کریں۔

سوال ۱۵.۳۹۹: **خول کا جمود، رداس دوار، اور مرکز کمیت** مستوی $z = 3$ کرہ $x^2 + y^2 + z^2 = 25$ کے بالا حصہ سے باریک خول کاٹتا ہے جس کی کثافت $\delta(x, y, z) = z$ ہے۔ خول کے I_z ، R_z ، اور مرکز کمیت تلاش کریں۔

سوال ۱۵.۴۰۰: **مکعب کا جمودی معیار اثر** محور z کے لحاظ سے اس مکعب کی سطح کا جمودی معیار اثر معلوم کریں جس کو مستویات $x = 1$ ، $y = 1$ ، اور $z = 1$ ثمن اول سے کاٹتی ہیں۔ کثافت $\delta = 1$ ہے۔

مسطح منحنی یا سطح سے باہر رخ گزرنے والا بہاؤ

مشق ۱۵.۴۰۱ اور ۱۵.۴۰۲ میں دیے گئے میدان $\boldsymbol{F}$ اور منحنیات C کے لئے مسئلہ گرین استعمال کر کے خلاف گھڑی دائری بہاؤ اور باہر رخ بہاؤ تلاش کریں۔

سوال ۱۵.۴۰۱: **مربع** $\boldsymbol{F} = (2xy + x)\boldsymbol{i} + (xy - y)\boldsymbol{j}$
منحنیات $x = 0$ ، $x = 1$ ، $y = 0$ ، اور $y = 1$ مربع C دیتی ہیں۔

سوال ۱۵.۴۰۲: **مثلث** $\boldsymbol{F} = (y - 6x^2)\boldsymbol{i} + (x + y^2)\boldsymbol{j}$
لکیر $y = 0$ ، $y = x$ ، اور $x = 1$ مثلث C دیتی ہیں۔

سوال ۱۵.۴۰۳: **صفر لکیری تکمل** دکھائیں کہ کسی بھی بند منحنی C کے لئے، جس پر مسئلہ گرین کا اطلاق ہوتا ہو، درج ذیل ہو گا۔

$$\oint_C (\ln x \sin y \, \mathrm{d}y - \frac{\cos y}{x} \, \mathrm{d}x) = 0$$

سوال ۱۵.۴۰۴:

ا. **باہر رخ بہاؤ اور رقبہ** دکھائیں کہ تعین گر سمتی میدان $\boldsymbol{F} = x\boldsymbol{i} + y\boldsymbol{j}$ کا باہر رخ بہاؤ کسی بھی بند منحنی پر، جس پر مسئلہ گرین کا اطلاق ہوتا ہو، منحنی میں محیط خطے کے رقبے کا دگنا ہو گا۔

ب. فرض کریں $\boldsymbol{n}$ ایسے بند منحنی C کا باہر رخ عمودی اکائی سمتیہ ہے جس پر مسئلہ گرین کا اطلاق ہوتا ہے۔ دکھائیں یہ ممکن نہیں کہ C کے ہر نقطے پر $\boldsymbol{n}$ تعین گر سمتی میدان $\boldsymbol{F} = x\boldsymbol{i} + y\boldsymbol{j}$ کو قائمہ ہو۔

مشق ۱۵.۴۰۵ تا ۱۵.۴۰۸ میں سرحد D کو باہر رخ عبور کرتا ہوا $\boldsymbol{F}$ کا بہاؤ تلاش کریں۔

سوال ۱۵.۴۰۵: **مکعب** $\boldsymbol{F} = 2xy\boldsymbol{i} + 2yz\boldsymbol{j} + 2xz\boldsymbol{k}$
خطہ D کو ثمن اول سے مستویات $x = 1$ ، $y = 1$ ، اور $z = 1$ کاٹتی ہیں۔

سوال ۱۵.۴۰۶: **کروی ٹوپی** $\boldsymbol{F} = xz\boldsymbol{i} + yz\boldsymbol{j} + \boldsymbol{k}$
ٹھوس کرہ $x^2 + y^2 + z^2 \leq 25$ کے اس بالائی ٹوپی کی مکمل سطح جس کو مستوی $z = 3$ کرہ سے کاٹتا ہے D ہے۔

سوال ۱۵.۴۰۷: **کروی ٹوپی** $\boldsymbol{F} = -2x\boldsymbol{i} - 3y\boldsymbol{j} + z\boldsymbol{k}$
ٹھوس کرہ $x^2 + y^2 + z^2 \leq 2$ کا وہ بالائی خطہ جس کو قطع مکافی $z = x^2 + y^2$ کرہ سے کاٹتا ہے D ہے۔

سوال ۱۵.۴۰۸: **مخروط اور بیلن** $\boldsymbol{F} = (6x + y)\boldsymbol{i} - (x + z)\boldsymbol{a}_y + 4yz\boldsymbol{k}$
ثمن اول میں مخروط $z = \sqrt{x^2 + y^2}$ ، بیلن $x^2 + y^2 = 1$ ، اور محددی مستویات کے بیچ خطہ D ہے۔

سوال ۱۵.۴۰۹: **نصف کرہ، بیلن، اور مستوی** S وہ سطح ہے جس کو بائیں سے نصف کرہ $x^2 + y^2 + z^2 = a^2,\ y \leq 0$ ، درمیان میں بیلن $x^2 + z^2 = a^2,\ 0 \leq y \leq a$ ،اور دائیں سے مستوی $y = a$ محدود کرتے ہیں۔ سطح S سے باہر رخ $\boldsymbol{F} = y\boldsymbol{i} + z\boldsymbol{j} + x\boldsymbol{k}$ کا بہاؤ تلاش کریں۔

سوال ۱۵.۴۱۰: **بیلن اور مستویات** ثمن اول میں بیلن $x^2 + 4y^2 = 16$ اور مستویات $y = 2z$ ، $x = 0$ ،اور $z = 0$ کے بیچ خطے کی سرحد سے باہر رخ $\boldsymbol{F} = 3xz^2\boldsymbol{i} + y\boldsymbol{j} - z^3\boldsymbol{k}$ کا بہاؤ تلاش کریں۔

سوال ۱۵.۴۱۱: **بیلن برتن** بیلن $x^2 + y^2 = 1$ اور مستویات $z = 1$ اور $z = -1$ میں محصور خطہ کی سطح سے باہر رخ $\boldsymbol{F} = xy^2\boldsymbol{i} + x^2y\boldsymbol{j} + y\boldsymbol{k}$ کا بہاؤ، مسئلہ پھیلاؤ استعمال کر کے تلاش کریں۔

سوال ۱۵.۴۱۲: **نصف کرہ** نصف کرہ $x^2 + y^2 + z^2 = a^2,\ z \geq 0$ سے اوپر رخ $\boldsymbol{F} = (3z + 1)\boldsymbol{k}$ کا بہاؤ (ا) مسئلہ پھیلاؤ استعمال کر کے اور (ب) بہاؤ کا تکمل حل کے تلاش کریں۔

مسئلہ گرین کے استعمال سے رقبہ کی تلاش

مسئلہ گرین کا کلیہ برائے رقبہ (صفحہ ۱۵۷ پر مساوات ۲۲) استعمال کر کے سوال ۱۵.۴۱۳ تا ۱۵.۴۱۶ میں دی منحنیات میں محصور خطوں کے رقبے تلاش کریں۔

سوال ۱۵.۴۱۳: گھونگا $x = 2\cos t - \cos 2t$ ، $y = 2\sin t - \sin 2t$ ، $0 \leq t \leq 2\pi$

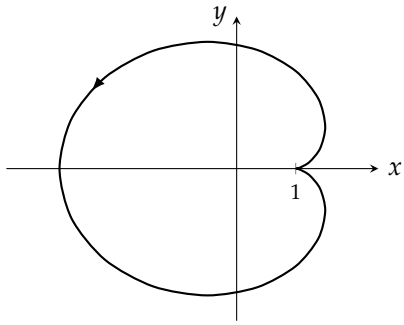

سوال ۱۵.۴۱۴: مثلثی $x = 2\cos t + \cos 2t$ ، $y = 2\sin t - \sin 2t$ ، $0 \leq t \leq 2\pi$

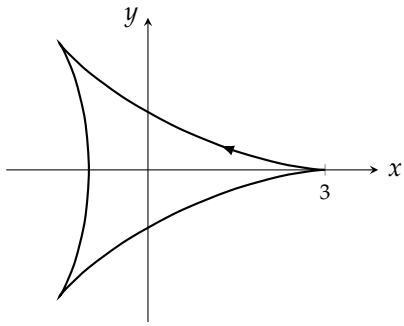

۲۵۳۵۱

۲۵۳۵۲ سوال ۱۵.۴۱۵: منحنی آٹھ $x = (1/2)\sin 2t$ ، $y = \sin t$ ، $0 \le t \le \pi$ (ایک گھیر)

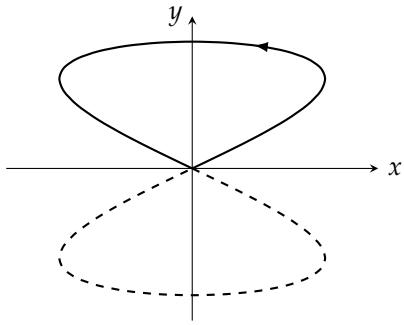

۲۵۳۵۳

۲۵۳۵۴ سوال ۱۵.۴۱۶: آنسو کا قطرہ $x = 2a\cos t - a\sin 2t$ ، $y = b\sin t$ ، $0 \le t \le 2\pi$

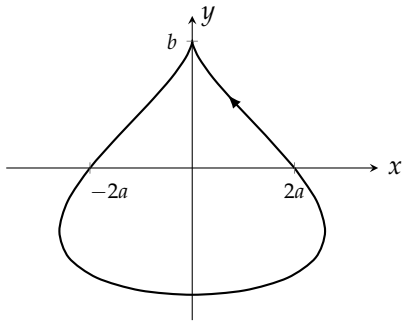

۲۵۳۵۵

۲۵۳۵۶

۲۵۳۵۷ نظریہ اور عملی استعمال

۲۵۳۵۸ سوال ۱۵.۴۱۷:

ا. ایسے سمتی میدان $\boldsymbol{F}(x,y,z)$ کی مثال پیش کریں جو صرف ایک نقطہ پر $\boldsymbol{0}$ ہو اور جس کا گردش $\boldsymbol{F}$ ہر نقطے پر غیر صفر ہو۔ اس نقطے کی نشاندہی کریں اور گردش کی قیمت تلاش کریں۔

ب. ایسے سمتی میدان $\boldsymbol{F}(x,y,z)$ کی مثال پیش کریں جو صرف ایک لکیر پر $\boldsymbol{0}$ ہو اور جس کا گردش $\boldsymbol{F}$ ہر مقام پر غیر صفر ہو۔ اس لکیر کی نشاندہی کریں اور گردش کی قیمت تلاش کریں۔

ج. ایسے سمتی میدان $\boldsymbol{F}(x,y,z)$ کی مثال پیش کریں جو ایک سطح پر $\boldsymbol{0}$ ہو اور جس کا گردش $\boldsymbol{F}$ ہر مقام پر غیر صفر ہو۔ اس سطح کی نشاندہی کریں اور گردش کی قیمت تلاش کریں۔

سوال ۱۵.۴۱۸: کرہ $x^2+y^2+z^2=R^2$ کی سطح پر ایسے تمام نقطے (a,b,c) تلاش کریں جہاں $\boldsymbol{F}(a,b,c)\neq\boldsymbol{0}$ اور سطح کو سمتی میدان $\boldsymbol{F}=yz^2\boldsymbol{i}+xz^2\boldsymbol{j}+2xyz\boldsymbol{k}$ عمودی ہو۔

سوال ۱۵.۴۱۹: رداس R کے کروی خول کے نقطہ (x,y,z) پر کمیتی کثافت $\delta(x,y,z)$ سطح پر اٹل نقطہ (a,b,c) سے اس نقطے تک فاصلے کے برابر ہے۔ خول کی کمیت تلاش کریں۔

سوال ۱۵.۴۲۰: پیچ دار سطح $\boldsymbol{r}(r,\theta)=(r\cos\theta)\boldsymbol{i}+(r\sin\theta)\boldsymbol{j}+\theta\boldsymbol{k}$ جہاں $0\leq r\leq 1,\ 0\leq\theta\leq 2\pi$ ہے کی کثافت $\delta(x,y,z)=2\sqrt{x^2+y^2}$ ہے۔ اس کی کمیت تلاش کریں۔ (مشق ۱۵.۳۷۹ میں پیش شکل پر نظر ڈالیں۔)

سوال ۱۵.۴۲۱: ایسے تمام مستطیل خطے $0\leq x\leq a$ ، $0\leq y\leq b$ تلاش کریں جس کے چار اطراف سے $\boldsymbol{F}=(x^2+4xy)\boldsymbol{i}-6y\boldsymbol{j}$ کا کل باہر رخ بہاؤ کم سے کم ہو۔ اس بہاؤ کی قیمت کیا ہو گی؟

سوال ۱۵.۴۲۲: مبدا سے گزرتا مستوی کرہ $x^2+y^2+z^2=4$ کو دائرے پر قطع کرتا ہے جس پر میدان $\boldsymbol{F}=z\boldsymbol{i}+x\boldsymbol{j}+y\boldsymbol{k}$ کا دائری بہاؤ زیادہ سے زیادہ ہونے کی صورت میں مستوی کی مساوات تلاش کریں۔

سوال ۱۵.۴۲۳: ربع اول میں $(2,0)$ تا $(0,2)$ دائرہ $x^2+y^2=4$ پر دھاگا پڑا ہوا ہے جس کی کثافت $\delta(x,y)=xy$ ہے۔

ا. دھاگے کو محدود تعداد کے چھوٹے چھوٹے ٹکڑوں میں تقسیم کر کے دکھائیں کہ دھاگے کو سیدھا نیچے x محور تک کھینچتے ہوئے ثقلی کشش درج ذیل کام سرانجام دیگی جہاں g تجاذبی مستقل ہے۔

$$\text{کام}=\lim_{n\to\infty}\sum_{k=1}^{n} gx_ky_k^2\Delta s_k=\int_C gxy^2\,\mathrm{d}s$$

ب. جزو (ا) میں تکمل حل کر کے کل کام تلاش کریں۔

ج. دکھائیں کہ یہ کام اس کام کے برابر ہے جو دھاگے کا مرکز کمیت $(\bar{x},\bar{y})$ سیدھا نیچے محور x محور تک کھینچنے کے لئے درکار ہو گا۔

سوال ۱۵.۴۲۴: ثمن اول میں باریک چادر کا ٹکڑا مستوی $x+y+z=1$ کے ہمراہ ہے۔ چادر کی کثافت $\delta(x,y,z)=xy$ ہے۔

ا. چادر کو محدود تعداد کے چھوٹے چھوٹے ٹکڑوں میں تقسیم کر کے دکھائیں کہ چادر کو سیدھا نیچے xy مستوی تک کھینچتے ہوئے ثقلی کشش درج ذیل کام سرانجام دیگی جہاں g تجاذبی مستقل ہے۔

$$\text{کام}=\lim_{n\to\infty}\sum_{k=1}^{n} gx_ky_kz_k\Delta\sigma_k=\int_S gxyz\,\mathrm{d}\sigma$$

۲۵۳۸۳ ب. جزو(ا) میں سطحی تکمل حل کر کے کل کام تلاش کریں۔

۲۵۳۸۴ ج. دکھائیں کہ یہ کام اس کام کے برابر ہے جو چادر گے کا مرکز کمیت $(\bar{x}, \bar{y}, \bar{z})$ سیدھا نیچے محور xy مستوی تک کھینچنے کے لئے درکار ہو گا۔

۲۵۳۸۵ سوال ۱۵.۴۲۵: **اصول آرشمیدسی** اگر کوئی جسم مثلاً ایک گیند سیال میں رکھا جائے، یہ یا ڈوب کر تل تک پہنچتا ہے، تیرتا ہے، یا کچھ فاصلے تک ڈوب
۲۵۳۸۶ کر سیال میں آویزاں رہتا ہے۔ فرض کریں سیال کی وزنی کثافت w مستقل ہے اور سیال کی سطح مستوی $z = 4$ پر پائی جاتی ہے۔ سیال میں آویزاں ایک
۲۵۳۸۷ کروی گیند خطہ $x^2 + y^2 + (z-2)^2 \leq 1$ گھیرے ہوئے ہے۔

۲۵۳۸۸ ا. دکھائیں کہ گیند پر سیال کے دباؤ کی سے پیدا کل قوت درج ذیل سطحی تکمل دیتا ہے۔

$$\text{قوت} = \lim_{n\to\infty} \sum_{k=1}^{n} w(4 - z_k)\Delta\sigma_k = \iint_S w(4-z)\,\mathrm{d}\sigma$$

۲۵۳۸۹ ب. چونکہ گیند ساکن ہے، دکھائیں کہ گیند کو درج ذیل قوت اچھال آویزاں رکھتی ہے جہاں (x, y, z) پر $\boldsymbol{n}$ باہر رخ عمودی اکائی سمتیہ ہے۔

$$\text{قوت اچھال} = \iint_S w(z-4)\boldsymbol{k}\cdot\boldsymbol{n}\,\mathrm{d}\sigma$$

۲۵۳۹۰ یہ اصول آرشمیدسی اجگر کرتا ہے جس کے تحت، ٹھوس جسم پر قوت اچھال، اس سیال کے وزن کے برابر ہو گا جو زیر سیال ہو۔

۲۵۳۹۱ ج. مسئلہ پھیلاؤ استعمال کر کے جزو(ب) میں قوت اچھال کی قدر تلاش کریں۔

۲۵۳۹۲ سوال ۱۵.۴۲۶: **قوسی سطح پر قوت سیال** ایک مخروط جس کی شکل سطح $z = \sqrt{x^2+y^2},\ 0 \leq z \leq 2$ دیتی ہے مستقل وزنی
۲۵۳۹۳ کثافت w کے سیال سے بھرا جاتا ہے۔ محددی xy مستوی کو سطح زمین تصور کریں۔ دکھائیں کہ $z = 1$ تا $z = 2$ مخروطی سطح ہر سیال کی کل قوت
۲۵۳۹۴ درج ذیل سطحی تکمل دیتا ہے۔

$$F = \iint_S w(2-z)\,\mathrm{d}\sigma$$

۲۵۳۹۵ اس تکمل کی قیمت تلاش کریں۔

۲۵۳۹۶ سوال ۱۵.۴۲۷: **قانون فیراڈے** نظریہ برقناطیسیت کے ایک اصول کے تحت اگر نقطہ (x, y, z) اور لمحہ t پر برقی میدان اور مقناطیسی
۲۵۳۹۷ میدان بالترتیب $\boldsymbol{E}(t, x, y, z)$ اور $\boldsymbol{B}(t, x, y, z)$ ہوں تب $\nabla\times\boldsymbol{E} = -\partial\boldsymbol{B}/\partial t$ ہو گا۔ اس میں $\nabla\times\boldsymbol{E}$ کی قیمت
۲۵۳۹۸ تلاش کرتے ہوئے t اٹل رکھا جاتا ہے اور $\partial\boldsymbol{B}/\partial t$ کی قیمت تلاش کرتے ہوئے (x, y, z) اٹل رکھا جاتا ہے۔ مسئلہ سٹوکس استعمال کرتے ہوئے
۲۵۳۹۹ فیراڈے کا قانون (درج ذیل) اخذ کریں

$$\oint_C \boldsymbol{E}\cdot\mathrm{d}\boldsymbol{r} = -\frac{\partial}{\partial t}\iint_S \boldsymbol{B}\cdot\boldsymbol{n}\,\mathrm{d}\sigma$$

جہاں C دائری برقی تار کو ظاہر کرتا ہے جس میں سطح کے عمودی اکائی سمتیہ $\boldsymbol{n}$ کے لحاظ سے خلاف گھڑی برقی رو رواں ہے جو C پر درج ذیل برقی دباؤ پیدا ہوتا ہے۔

$$\oint_C \boldsymbol{E} \cdot \mathrm{d}\boldsymbol{r}$$

مساوات کے دائیں ہاتھ سطحی تکمل کو **مقناطیسی بہاؤ**[۵۲] کہتے ہیں جہاں S ہر وہ سطح ہو سکتا ہے جس کی سرحد C ہو۔

سوال ۱۵.۴۲۸: تجاذبی قوت کے میدان $\boldsymbol{F}$ کی تعریف $\boldsymbol{r} \neq \boldsymbol{0}$ کے لئے درج ذیل ہے۔

$$\boldsymbol{F} = -\frac{GmM}{|\boldsymbol{r}|^3}\boldsymbol{r}$$

حصہ ۱۵.۸ میں پیش قانون گاوس استعمال کر کے دکھائیں کہ ایسا کوئی استمراری قابل تفرق سمتی میدان $\boldsymbol{H}$ نہیں پایا جاتا جو $\boldsymbol{F} = \nabla \times \boldsymbol{H}$ کو مطمئن کرتا ہو۔

سوال ۱۵.۴۲۹: ثابت کریں اگر سمت بند سطح S، جس کی تحدیدی سرحد C ہو، پر $f(x,y,z)$ اور $g(x,y,z)$ استمراری قابل تفرق غیر سمتی میدان ہوں تب درج ذیل ہو گا۔

$$\iint_S (\nabla f \times \nabla g) \cdot \boldsymbol{n}\,\mathrm{d}\sigma = \oint_C f \nabla g \cdot \mathrm{d}\boldsymbol{r}$$

سوال ۱۵.۴۳۰: فرض کریں خطہ D میں، جو سمت بند سطح S میں محصور ہے جس کا باہر رخ عمودی اکائی سمتیہ $\boldsymbol{n}$ ہے، $\nabla \cdot \boldsymbol{F}_1 = \nabla \cdot \boldsymbol{F}_2$ اور $\nabla \times \boldsymbol{F}_1 = \nabla \times \boldsymbol{F}_2$ ہیں اور S پر $\boldsymbol{F}_1 \cdot \boldsymbol{n} = \boldsymbol{F}_2 \cdot \boldsymbol{n}$ ہے۔ ثابت کریں پورے D پر $\boldsymbol{F}_1 = \boldsymbol{F}_2$ ہو گا۔

سوال ۱۵.۴۳۱: اگر $\nabla \cdot \boldsymbol{F} = 0$ اور $\nabla \times \boldsymbol{F} = \boldsymbol{0}$ ہوں تب درست یا غلط ثابت کریں کہ $\boldsymbol{F} = \boldsymbol{0}$ ہو گا۔

سوال ۱۵.۴۳۲: فرض کریں سمت بند سطح کا مقدار معلوم روپ $\boldsymbol{r}(u,v)$ ہے۔ ایسی علامتیت متعارف کریں کہ $\mathrm{d}\boldsymbol{\sigma} = \boldsymbol{r}_u\,\mathrm{d}u \times \boldsymbol{r}_v\,\mathrm{d}v$ ہو تا کہ $\mathrm{d}\boldsymbol{\sigma}$ سطح کو عمودی سمتیہ ہو۔ مزید (حصہ ۱۵.۶ میں مساوات ۵ کے تحت) مقدار $\mathrm{d}\sigma = |\,\mathrm{d}\boldsymbol{\sigma}|$ سطح کے چھوٹے ٹکڑے کا رقبہ دیگا۔ درج ذیل تماثل اخذ کریں

$$\mathrm{d}\sigma = (EG - F^2)^{1/2}\,\mathrm{d}u\,\mathrm{d}v$$

جہاں درج ذیل ہے۔

$$E = |\boldsymbol{r}_u|^2, \quad F = \boldsymbol{r}_u \cdot \boldsymbol{r}_v, \quad G = |\boldsymbol{r}_v|^2$$

سوال ۱۵.۴۳۳: فضا میں خطہ D سمت بند سطح S جس کا باہر رخ عمودی اکائی سمتیہ $\boldsymbol{n}$ ہے میں محصور ہے۔ دکھائیں کہ خطے کا حجم H درج ذیل تماثل کو مطمئن کرتا ہے

$$H = \frac{1}{3}\iint_S \boldsymbol{r} \cdot \boldsymbol{n}\,\mathrm{d}\sigma$$

جہاں D میں نقطہ (x,y,z) کا تعین گر سمتیہ $\boldsymbol{r}$ ہے۔

---

[۵۲] magneticflux

۲۵۳۱۸

۲۵۳۱۹

ضمیمہ ا

ریاضیاتی ترغیب

ریاضیاتی ترغیب کا اصول[1] استعمال کر کے ثابت کیا جا سکتا ہے کہ کئی کلیات ہر مثبت عدد صحیح کے لئے مطمئن ہوں گے۔ ایسا ایک کلیہ درج ذیل ہے۔

$$1 + 2 + \cdots + n = \frac{n(n+1)}{2}$$

جو ثبوت اس مسلمہ کو استعمال کرتا ہے وہ ترغیبی ثبوت کہلاتا ہے۔

ترغیب سے کلیے کا ثبوت درج ذیل اقدام سے کیا جاتا ہے۔

۱. تصدیق کریں کہ کلیہ $n = 1$ کے لئے درست ہے۔

۲. ثابت کریں کہ اگر کلیہ کسی مثبت عدد صحیح $n = k$ کے لئے درست ہو تب یہ $n = k + 1$ کے لئے بھی درست ہو گا۔

مسلمہ ترغیب کہتا ہے ان دو اقدام کے مکمل ہونے پر کلیہ تمام مثبت عدد صحیح n کے لئے درست ہو گا۔ قدم اول تصدیق کرتا ہے کہ کلیہ $n = 1$ کے لئے درست ہے۔ قدم دوم کے تحت اگر کلیہ $n = 2$ کے لئے درست ہو تب کلیہ $n = 3$ کے لئے بھی درست ہو گا، اور اسی طرح قدم دوم کے تحت اگر کلیہ $n = 3$ کے لئے درست ہو تب یہ $n = 4$ کے لئے بھی درست ہو گا، وغیرہ۔

مثال ا.ا: درج ذیل کلیہ ہر مثبت عدد صحیح n کے لئے درست ثابت کریں۔

$$1 + 2 + \cdots + n = \frac{n(n+1)}{2}$$

حل: ہم مذکورہ بالا دو اقدام پر چلتے ہوئے ثبوت پیش کرتے ہیں۔

[1] mathematicalinduction

۲۵۴۳۲ ۱. ہم کلیہ میں دونوں اطراف $n = 1$ پُر کر کے قدم اول کی تصدیق کرتے ہیں۔

$$1 = \frac{1(1+1)}{2}$$

۲۵۴۳۳ ۲. قدم دوم میں ہم فرض کرتے ہیں کلیہ مثبت عدد صحیح $n = k$ کے لئے درست ہے، یعنی ہم مان لیتے ہیں کہ درج ذیل درست ہے۔

$$1 + 2 + \cdots + k = \frac{k(k+1)}{2}$$

۲۵۴۳۴ اب اگلا مثبت عدد صحیح $k + 1$ ہو گا لہٰذا ہم کلیے کا صرف بایاں ہاتھ لے کر اس میں $k + 1$ جمع کر کے حل کرتے ہیں۔

$$\underbrace{1 + 2 + \cdots + k}_{\frac{k(k+1)}{2}} + (k+1) = \frac{k(k+1)}{1} + (k+1) = \frac{k^2 + k + 2k + 2}{2}$$
$$= \frac{(k+1)(k+2)}{2} = \frac{(k+1)(k+1)+1}{2}$$

۲۵۴۳۵ یوں دونوں اطراف $k + 1$ کی جگہ n لکھ کر درج ذیل حاصل ہو گا۔

$$1 + 2 + \cdots + n = \frac{n(n+1)}{2}$$

۲۵۴۳۶ یعنی کلیے کو $n = k$ کے لئے درست مان کر ہم نے ثابت کیا کہ یہی کلیہ $n = k + 1$ کے لئے بھی درست ہے۔

۲۵۴۳۷ یوں ریاضیاتی ترغیب کا اصول اس بات کی ضمانت دیتا ہے کہ تمام مثبت عدد صحیح n کے لئے دیا گیا کلیہ درست ہے۔

۲۵۴۳۸ □

۲۵۴۳۹ دوسری مثال پیش کرتے ہیں۔

۲۵۴۴۰ مثال ا.۲: ریاضیاتی ترغیب استعمال کر کے ثابت کریں کہ تمام مثبت عدد صحیح کے لئے درج ذیل کلیہ درست ہو گا۔

$$\frac{1}{2^1} + \frac{1}{2^2} + \cdots + \frac{1}{2^n} = 1 - \frac{1}{2^n}$$

۲۵۴۴۱ حل: ہم ریاضیاتی ترغیب کی دو اقدام مکمل کر کے ثبوت پیش کرتے ہیں۔

۲۵۴۴۲ ۱. ہم کلیہ $n = 1$ کے لئے جانچتے ہیں۔

$$\frac{1}{2^1} = 1 - \frac{1}{2^1}$$

۲. اگر $n = k$ کے لئے درج ذیل درست تسلیم کیا جائے

$$\frac{1}{2^1} + \frac{1}{2^2} + \cdots + \frac{1}{2^k} = 1 - \frac{1}{2^k}$$

تب بائیں ہاتھ اگلا جزو جمع کر کے حل کرتے ہیں۔

$$\begin{aligned}\frac{1}{2^1} + \frac{1}{2^2} + \cdots + \frac{1}{2^k} + \frac{1}{2^{k+1}} &= 1 - \frac{1}{2^k} + \frac{1}{2^{k+1}} = 1 - \frac{1 \cdot 2}{2^k \cdot 2} + \frac{1}{2^{k+1}} \\ &= 1 - \frac{2}{2^{k+1}} + \frac{1}{2^{k+1}} = 1 - \frac{1}{2^{k+1}}\end{aligned}$$

یوں اگر دیا گیا کلیہ $n = k$ کے لئے درست ہو تب یہ $n = k + 1$ کے لئے بھی درست ہو گا۔

ان اقدام کی تصدیق کے بعد اصول ریاضیاتی ترغیب ضمانت دیتا ہے کہ کلیہ ہر مثبت عدد صحیح کے لئے درست ہو گا۔

□

دیگر ابتدائی عدد صحیح

بعض ترغیبی دلائل میں $n = 1$ سے آغاز کرنے کے بجائے کسی اور عدد صحیح سے ابتدا کی جاتی ہے۔ اس طرح کے دلائل کے قدم درج ذیل ہیں۔

۱. تصدیق کریں کہ کلیہ $n = n_1$ (متعلقہ پہلا عدد صحیح) کے لئے درست ہے۔

۲. ثابت کریں کہ اگر کلیہ کسی بھی عدد صحیح $n = k \geq n_1$ کے لئے درست ہو تب یہ $n = (k+1)$ کے لئے بھی درست ہو گا۔

ان اقدام کے مکمل ہونے کے بعد اصول ریاضیاتی ترغیب ضمانت دیتا ہے کہ کلیہ تمام $n \geq n_1$ کے لئے درست ہو گا۔

مثال ۱.۳: دکھائیں کہ اگر n کافی بڑا ہو تب $n! > 3^n$ ہو گا۔

حل: یہاں کتنا بڑا عدد صحیح کافی بڑا تصور کیا جا سکتا ہے؟ یہ جانتے ہیں۔

n	1	2	3	4	5	6	7
$n!$	1	2	6	24	120	720	5040
3^n	3	9	27	81	243	729	2187

ان نتائج کو دیکھ کر $n! > 3^n$ کے لئے $n \geq 7$ ہونا کافی ہے۔ اس کی مکمل تصدیق کے لئے ہم ریاضیاتی ترغیب بروئے کار لاتے ہیں۔ ہم قدم اول میں $n_1 = 7$ منتخب کرتے ہیں اور قدم دوم مکمل کرتے ہیں۔ قدم دوم میں ہم فرض کرتے ہیں کہ کسی $k \geq 7$ کے لئے $k! > 3^k$ ہے۔ یوں درج ذیل ہو گا۔

$$(k+1)! = (k+1)(k!) > (k+1)3^k > 7 \cdot 3^k > 3^{k+1}$$

لہٰذا $k \geq 7$ کے لئے $k! > 3^k$ سے مراد $(k+1)! \geq 3^{k+1}$ ہو گا۔ ریاضیاتی ترغیب کا اصول ضمانت دیتا ہے کہ تمام $n \geq 7$ کے لئے $n! > 3^n$ ہو گا۔ □

سوالات

سوال ا.ا: یہ مان لینے کے بعد کہ ہر دو اعداد a اور b کے لئے مثلثی عدم مساوات $|a+b| \leq |a|+|b|$ مطمئن ہو گا، ثابت کریں کہ کسی بھی عدد n کے لئے درج ذیل ہو گا۔

$$|x_1+x_2+\cdots+x_n| \leq |x_1|+|x_2|+\cdots+|x_n|$$

سوال ا.۲: دکھائیں کہ $r \neq 1$ کی صورت میں کسی بھی مثبت عدد صحیح n کے لئے درج ذیل ہو گا۔

$$1+r+r^2+\cdots+r^n = \frac{1-r^{n+1}}{1-r}$$

سوال ا.۳: حاصل ضرب کا قاعدہ $\frac{\mathrm{d}}{\mathrm{d}x}(uv) = u\frac{\mathrm{d}v}{\mathrm{d}x}+v\frac{\mathrm{d}u}{\mathrm{d}x}$ اور یہ جانتے ہوئے کہ $\frac{\mathrm{d}}{\mathrm{d}x}(x) = 1$ ہے دکھائیں کہ ہر مثبت عدد صحیح n کے لئے $\frac{\mathrm{d}}{\mathrm{d}x}(x^n) = nx^{n-1}$ ہو گا۔

سوال ا.۴: فرض کریں تفاعل $f(x)$ کی خاصیت یہ ہے کہ کسی بھی دو عدد صحیح x_1 اور x_2 کے لئے $f(x_1x_2) = f(x_1)+f(x_2)$ ہوتا ہے۔ دکھائیں کہ کسی بھی n مثبت اعداد x_1، x_2، $\cdots$، x_n کے لئے $f(x_1x_2\cdots x_n) = f(x_1)+f(x_2)+\cdots+f(x_n)$ ہو گا۔

سوال ا.۵: دکھائیں کہ تمام مثبت اعداد n کے لئے درج ذیل ہو گا۔

$$\frac{2}{3^1}+\frac{2}{3^2}+\cdots+\frac{2}{3^n} = 1-\frac{1}{3^n}$$

سوال ا.۶: دکھائیں کہ تمام بڑے اعداد n کے لئے $2^n > n^2$ ہو گا۔

سوال ا.۷: دکھائیں کہ تمام بڑے اعداد n کے لئے $2^n \geq n^2$ ہو گا۔

سوال ا.۸: دکھائیں کہ $n \geq -3$ کے لئے $2^n \geq 1/8$ ہو گا۔

سوال ا.۹: **مربعوں کے مجموعے** دکھائیں کہ پہلے n مثبت عدد صحیح کے مربعوں کا مجموعہ درج ذیل ہو گا۔

$$\frac{n(n+\frac{1}{2})(n+1)}{3}$$

سوال ا.۱۰: **مکعب کے مجموعے** دکھائیں کہ پہلے n مثبت عدد صحیح کے مربعوں کا مجموعہ $(n(n+1)/2)^2$ ہو گا۔

سوال ا.۱۱: **محدود مجموعوں کے قواعد** دکھائیں کہ محدود مجموعوں کے درج ذیل قواعد ہر مثبت عدد صحیح n کے لئے مطمئن ہوں گے۔

ا.

$$\sum_{k=1}^{n}(a_k+b_k) = \sum_{k=1}^{n}a_k+\sum_{k=1}^{n}b_k$$

ب.

$$\sum_{k=1}^{n}(a_k - b_k) = \sum_{k=1}^{n} a_k - \sum_{k=1}^{n} b_k$$

ج.

$$\sum_{k=1}^{n} ca_k = c \cdot \sum_{k=1}^{n} a_k \quad (c \text{ کوئی بھی عدد ہو سکتا ہے})$$

د.

$$\sum_{k=1}^{n} a_k = n \cdot c \quad (\text{اگر } a_k \text{ کی قیمت مستقل } c \text{ ہو})$$

۲۵۴۷۶ سوال ۱.۱۲: دکھائیں کہ ہر مثبت عدد صحیح n اور ہر حقیقی عدد x کے لئے $|x^n| = |x|^n$ ہو گا۔

۲۵۴۷۷

ضمیمہ ب

تحدیدی مسائل کے ثبوت

اس ضمیمے میں حصہ ۲.۲ میں پیش کیے گئے مسئلہ ۲.۱ کے جزو ۲ تا ۵ اور مسئلہ ۲.۴ کے ثبوت دیے جاتے ہیں۔

پہلے حصہ ۲.۲ کا درج ذیل مسئلہ ۲.۱ دیکھتے ہیں۔

مسئلہ ب.۱: **حد کے خواص**

اگر L ، M ، c ، اور k حقیقی اعداد ہوں اور

$$\lim_{x\to c} f(x) = L, \quad \lim_{x\to c} g(x) = M$$

ہوں تب درج ذیل ہوں گے۔

۱.	مجموعے کا قاعدہ	$\lim_{x\to c}(f(x)+g(x)) = L+M$	
۲.	فرق کا قاعدہ	$\lim_{x\to c}(f(x)-g(x)) = L-M$	
۳.	حاصل ضرب کا قاعدہ	$\lim_{x\to c}(f(x)\cdot g(x)) = L\cdot M$	
۴.	مستقل سے ضرب کا قاعدہ	$\lim_{x\to c}(kf(x)) = kL$	(k کوئی بھی عدد ہو سکتا ہے)
۵.	حاصل تقسیم کا قاعدہ	$\lim_{x\to c}\frac{f(x)}{g(x)} = \frac{L}{M}$	جہاں $M \neq 0$ ہے
۶.	طاقت کا قاعدہ	اگر r اور s عدد صحیح ہوں جن کے مشترک جزو ضربی موجود نہ ہوں اور $s \neq 0$ ہو تب	

$$\lim_{x\to c}(f(x))^{r/s} = L^{r/s}$$

ہو گا بشرطیکہ $L^{r/s}$ حقیقی عدد ہو۔ (جفت s کی صورت میں ہم $L > 0$ فرض کرتے ہیں۔)

ہم نے مجموعے کے قاعدے کا ثبوت حصہ ۲.۳ میں پیش کیا جبکہ طاقتی قاعدے کا ثبوت اعلیٰ نسابی کتابوں میں ملے گا۔ مجموعے کے قاعدہ میں $g(x)$ کی جگہ $-g(x)$ اور M کی جگہ $-M$ ڈالنے سے فرق کا قاعدہ حاصل ہو گا۔ حاصل ضرب قاعدہ میں $g(x) = k$ ڈالنے سے مستقل ضرب کا قاعدہ

حاصل ہوگا۔ یوں صرف حاصل ضرب اور حاصل تقسیم کے قاعدے رہ گئے ہیں۔

ثبوت: **تحدیدی حاصل ضرب قاعدے کا ثبوت** ہم دکھاتے ہیں کہ کسی بھی $\epsilon > 0$ کے لئے ایسا $\delta > 0$ موجود ہوگا کہ f اور g کے دائرہ کار کے تقاطع D میں تمام x پر درج ذیل ہوگا۔

$$0 < |x - c| < \delta \qquad \Rightarrow \qquad |f(x)g(x) - LM| < \epsilon$$

اب فرض کریں ϵ مثبت عدد ہے اور $f(x)$ اور $g(x)$ کو درج ذیل لکھیں۔

$$f(x) = L + (f(x) - L), \qquad g(x) = M + (g(x) - M)$$

ان کو آپس میں ضرب دے کر LM منفی کرنے سے درج ذیل ملتا ہے۔

$$\begin{aligned} f(x) \cdot g(x) - LM &= (L + (f(x) - L))(M + (g(x) - M)) - LM \\ &= LM + L(g(x) - M) + M(f(x) - L) \\ &\qquad + (f(x) - L)(g(x) - M) - LM \\ &= L(g(x) - M) + M(f(x) - L) + (f(x) - L)(g(x) - M) \end{aligned} \tag{۱}$$

چونکہ $x \to c$ کرنے سے f اور g کی حدیں L اور M پائی جاتی ہیں، لہٰذا D میں تمام x کے لئے ایسے مثبت اعداد δ_1 ، δ_2 ، δ_3 ، اور δ_4 موجود ہوں گے کہ درج ذیل ہوں گے۔

$$\begin{aligned} 0 < |x - c| < \delta_1 \qquad &\Rightarrow \qquad |f(x) - L| < \sqrt{\epsilon/3} \\ 0 < |x - c| < \delta_2 \qquad &\Rightarrow \qquad |f(x) - L| < \sqrt{\epsilon/3} \\ 0 < |x - c| < \delta_3 \qquad &\Rightarrow \qquad |f(x) - L| < \epsilon/(3(1 + |M|)) \\ 0 < |x - c| < \delta_4 \qquad &\Rightarrow \qquad |f(x) - L| < \epsilon/(3(1 + |L|)) \end{aligned} \tag{۲}$$

اگر ہم δ_1 تا δ_4 میں سب سے چھوٹے کو δ لیں، عدم مساوات ۲ کے دائیں ہاتھ کی عدم مساوات $0 < |x - c| < \delta$ کے لئے بھی مطمئن ہوں گی۔ لہٰذا D میں تمام x کے لئے، $0 < |x - c| < \delta$ سے مراد درج ذیل لیا جا سکتا ہے۔

$$\begin{aligned} &|f(x) \cdot g(x) - LM| \qquad \text{مساوات اپر مثلثی عدم مساوات کا اطلاق} \\ &\quad \le |L||g(x) - M| + |M||f(x) - L| + |f(x) - L||g(x) - M| \\ &\quad \le (1 + |L|)|g(x) - M| + (1 + |M|)|f(x) - L| + |f(x) - L||g(x) - M| \\ &\quad < \frac{\epsilon}{3} + \frac{\epsilon}{3} + \sqrt{\frac{\epsilon}{3}}\sqrt{\frac{\epsilon}{3}} = \epsilon \qquad \text{مساوات ۲ سے قیمتیں لی گئیں} \end{aligned}$$

یوں تحدیدی حاصل ضرب قاعدے کا ثبوت مکمل ہوتا ہے۔

□

۲۵۵۰۰ ثبوت: **تحدیدی حاصل تقسیم قاعدے کا ثبوت** ہم دکھاتے ہیں کہ $\lim_{x\to c}(1/g(x)) = 1/M$ ہوگا۔اس کے بعد ہم
۲۵۵۰۱ تحدیدی حاصل ضرب قاعدہ کے تحت درج ذیل اخذ کر سکتے ہیں۔

$$\lim_{x\to c}\frac{f(x)}{g(x)} = \lim_{x\to c}\left(f(x)\cdot\frac{1}{g(x)}\right) = \lim_{x\to c}f(x)\cdot\lim_{x\to c}\frac{1}{g(x)} = L\cdot\frac{1}{M} = \frac{l}{M}$$

۲۵۵۰۲ فرض کریں $\epsilon > 0$ ہے۔یہ دکھانے کی خاطر کہ $\lim_{x\to c}(1/g(x)) = 1/M$ ہے ہمیں دکھانا ہوگا کہ تمام x کے لئے ایسا $\delta > 0$
۲۵۵۰۳ موجود ہے کہ درج ذیل مطمئن ہو۔

$$0 < |x-c| < \delta \quad \Rightarrow \quad \left|\frac{1}{g(x)} - \frac{1}{M}\right| < \epsilon$$

۲۵۵۰۴ چونکہ $|M| > 0$ ہے لہٰذا تمام x کے لئے ایسا مثبت عدد δ_1 موجود ہے جو درج ذیل کو مطمئن کرتا ہے۔

$$0 < |x-c| < \delta_1 \quad \Rightarrow \quad |g(x) - M| < \frac{M}{2} \tag{۳}$$

۲۵۵۰۵ کسی بھی عدد A اور B کے لئے ہم جانتے ہیں کہ $|A| - |B| \leq |A-B|$ اور $|B| - |A| \leq |A-B|$ ہوگا جس سے
۲۵۵۰۶ $||A| - |B|| \leq |A-B|$ اخذ کیا جا سکتا ہے۔اس میں $A = g(x)$ اور $B = M$ لینے سے درج ذیل حاصل ہوگا

$$||g(x)| - |M|| \leq |g(x) - M|$$

۲۵۵۰۷ جس کو عدم مساوات ۳ کے ساتھ ملا کر درج ذیل لکھا جا سکتا ہے۔

$$\begin{aligned}
||g(x)| - |M|| &< \frac{|M|}{2}\\
-\frac{|M|}{2} < |g(x)| - |M| &< \frac{|M|}{2}\\
\frac{|M|}{2} < |g(x)| &< \frac{3|M|}{2}\\
|M| < 2|g(x)| &< 3|M|\\
\frac{1}{|g(x)|} < \frac{2}{|M|} &< \frac{3}{|g(x)|}
\end{aligned} \tag{۴}$$

۲۵۵۰۸ یوں $0 < |x-c| < \delta_1$ سے درج ذیل مراد لیا جا سکتا ہے۔

$$\begin{aligned}
\left|\frac{1}{g(x)} - \frac{1}{M}\right| &= \left|\frac{M - g(x)}{Mg(x)}\right| \leq \frac{1}{|M|}\cdot\frac{1}{|g(x)|}\cdot|M - g(x)|\\
&< \frac{1}{|M|}\cdot\frac{2}{|M|}\cdot|M - g(x)| \quad \text{عدم مساوات ۴}
\end{aligned} \tag{۵}$$

چونکہ $(1/2)|M|^2\epsilon > 0$ ہے لہٰذا تمام x کے لئے ایسا عدد $\delta_2 > 0$ موجود ہوگا جو درج ذیل کو مطمئن کرتا ہو۔

$$0 < |x-c| < \delta_2 \quad \Rightarrow \quad |M - g(x)| < \frac{\epsilon}{2}|M|^2 \tag{۶}$$

اگر ہم δ کو δ_1 اور δ_2 میں چھوٹے کے برابر لیں، تب تمام x کے لئے $0 < |x-c| < \delta$ کی صورت میں عدم مساوات ۵ اور ۶ مطمئن ہوں گے۔ ان نتائج کو ملا کر درج ذیل حاصل ہوگا۔

$$0 < |x-c| < \delta \quad \Rightarrow \quad \left|\frac{1}{g(x)} - \frac{1}{M}\right| < \epsilon$$

یوں تحدیدی حاصل تقسیم کے قاعدے کا ثبوت مکمل ہوتا ہے۔

□

اب حصہ ۲.۲ کا درج ذیل مسئلہ ۲.۴ دیکھتے ہیں۔

مسئلہ **مسئلہ بیچ** فرض کریں کھلے وقفہ I میں، جس میں c پایا جاتا ہو، (غالباً) $x = c$ کے سوا تمام x کے لئے درج ذیل ہے۔

$$g(x) \le f(x) \le h(x)$$

مزید فرض کریں $\lim_{x\to c} g(x) = \lim_{x\to c} h(x) = L$ ہے۔ تب $\lim_{x\to c} f(x) = L$ ہوگا۔

ثبوت: **دائیں ہاتھ حدوں کا ثبوت** فرض کریں $\lim_{x\to c^+} g(x) = \lim_{x\to c^+} h(x) = L$ ہے۔ تب کسی بھی $\epsilon > 0$ کے لئے ایسا $\delta > 0$ موجود ہوگا کہ تمام x کے لئے وقفہ $c < x < c+\delta$ وقفہ I کے اندر واقع ہو اور عدم مساوات سے مراد درج ذیل ہو۔

$$L - \epsilon < g(x) < L + \epsilon \quad \text{اور} \quad L - \epsilon < h(x) < L + \epsilon$$

ان عدم مساوات کو عدم مساوات $g(x) \le f(x) \le h(x)$ کے ساتھ ملا کر درج ذیل ہوگا۔

$$\begin{aligned} L - \epsilon < g(x) \le f(x) \le h(x) < L + \epsilon, \\ L - \epsilon < f(x) < L + \epsilon, \\ -\epsilon < f(x) - L < \epsilon \end{aligned}$$

یوں تمام x کے لئے عدم مساوات $c < x < c+\delta$ سے مراد $|f(x) - L| < \epsilon$ ہوگا۔

□

ثبوت: **بائیں ہاتھ حدوں کا ثبوت** فرض کریں $\lim_{x\to c^-} g(x) = \lim_{x\to c^-} h(x) = L$ ہے۔ تب کسی بھی $\epsilon > 0$ کے لئے ایسا $\delta > 0$ موجود ہوگا کہ تمام x کے لئے وقفہ $c - \delta < x < c$ وقفہ I کے اندر واقع ہو اور عدم مساوات سے درج ذیل مراد ہو۔

$$L - \epsilon < g(x) < L + \epsilon \quad \text{اور} \quad L - \epsilon < h(x) < L + \epsilon$$

پہلے کی طرح ہم یہ نتیجہ اخذ کرتے ہیں کہ تمام x کے لئے عدم مساوات $c - \delta < x < c$ سے مراد $|f(x) - L| < \epsilon$ ہوگا۔

□

ثبوت: **دو طرفہ حدود کا ثبوت** اگر $\lim_{x\to c} g(x) = \lim_{x\to c} h(x) = L$ ہو، تب $x \to c^+$ اور $x \to c^-$ دونوں کے لئے $g(x)$ اور $h(x)$ حد L کو پہنچتے ہیں۔ یوں $\lim_{x\to c^+} f(x) = L$ اور $\lim_{x\to c^-} f(x) = L$ ہوں گے۔ لہٰذا $\lim_{x\to c} f(x)$ موجود اور L کے برابر ہوگا۔

□

سوالات

سوال ب.۱: فرض کریں $x \to c$ کرنے سے تفاعل $f_1(x)$ ، $f_2(x)$ ، اور $f_3(x)$ کی حدیں بالترتیب L_1 ، L_2 ، اور L_3 ہیں۔ دکھائیں کہ ان تفاعلات کے مجموعے کا حد $L_1 + L_2 + L_3$ ہوگا۔ ریاضیاتی ترغیب (ضمیمہ الف) استعمال کر کے اس نتیجے کو محدود تعداد کے تفاعلات کے مجموعے تک عمومیت دو۔

سوال ب.۲: مسئلہ ۲.۲ میں حاصل ضرب کی حد اور ریاضیاتی ترغیب استعمال کر کے دکھائیں کہ اگر تفاعل $f_1(x)$ ، $f_2(x)$ ، $\cdots$ ، $f_n(x)$ کی حدیں بالترتیب L_1 ، L_2 ، $\cdots$ ، L_n ہوں تب درج ذیل ہوگا۔

$$\lim_{x\to c} f_1(x) \lim_{x\to c} f_2(x) \cdots \lim_{x\to c} f_n(x) = L_1 L_2 \cdots L_n$$

سوال ب.۳: یہ جانتے ہوئے کہ $\lim_{x\to c} x = c$ ہے اور سوال ب.۲ کا نتیجہ استعمال کر کے دکھائیں کہ کسی بھی عدد صحیح $n > 1$ کے لئے $\lim_{x\to c} x^n = c^n$ ہوگا۔

سوال ب.۴: **کثیر رکنی کی حد** یہ جانتے ہوئے کہ کسی بھی عدد k کے لئے $\lim_{c\to c}(k) = k$ ہوگا اور سوال ب.۱ اور سوال ب.۳ کے نتائج استعمال کر کے دکھائیں کہ کسی بھی کثیر رکنی تفاعل

$$f(x) = a_n x^n + a_{n-1} x^{n-1} + \cdots + a_1 x^1 + a_0$$

کے لئے $\lim_{x\to c} f(x) = f(c)$ ہوگا۔

سوال ب.۵: **ناطق تفاعلات کی حدیں** مسئلہ ب.۱ اور سوال ب.۴ کا نتیجہ استعمال کرتے ہوئے دکھائیں کہ اگر $f(x)$ اور $g(x)$ کثیر رکنی تفاعلات ہوں اور $g(c) \neq 0$ ہو تب درج ذیل ہوگا۔

$$\lim_{x\to c} \frac{f(x)}{g(x)} = \frac{f(c)}{g(c)}$$

سوال ب.۶: **استمراری تفاعلات کے مرکب** دو استمراری تفاعلات کا مرکب استمراری ہونے کا خاکہ شکل ب.۱ میں پیش کیا گیا ہے۔ خاکے سے ثبوت کی تشکیل کریں۔ آپ نے ثابت کرنا ہے کہ اگر $x = c$ پر f استمراری ہو اور $f(c)$ پر g استمراری ہو تب c پر $g \circ f$ استمراری ہوگا۔

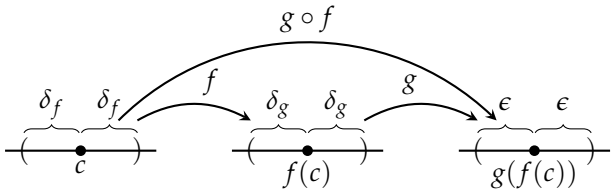

شکل ب.۱: دو استمراری تفاعلات کا مرکب بھی استمراری ہو گا۔

۲۵۵۴۸ فرض کریں کہ نقطہ c تفاعل f کے دائرہ کار کے اندر واقع ہے اور نقطہ $f(c)$ تفاعل g کے دائرہ کار کے اندر واقع ہے۔ ایسا کرنے سے مطلوبہ حدیں دو
۲۵۵۴۹ طرفہ صورت اختیار کرتی ہیں۔ (یک طرفہ حد کی صورت میں بھی دلائل اسی طرح ہیں۔)

۲۵۵۵۰

ضمیمہ ج

مخلوط اعداد

مخلوط اعداد سے مراد $a + ib$ روپ کا اظہار ہے جہاں a اور b حقیقی اعداد ہیں اور i جذر $\sqrt{-1}$ کی علامت ہے۔ حقیقی اعداد کا نظام تخلیق دینے میں جدوجہد درکار تھی جس کے مختلف مراحل پر اس ضمیمے میں غور کیا جائے گا۔ یہ جاننے کے بعد مخلوط اعداد کا نظام عجیب نظر نہیں آئے گا۔

حقیقی اعداد کا ارتقا

اعدادی نظام کے ارتقا میں پہلا قدم گنتی کے اعداد $1, 2, 3, \cdots$ کی پہچان تھی جنہیں ہم اب **قدرتی اعداد**[1] یا **مثبت عدد صحیح**[2] کہتے ہیں۔ نظام کے اندر رہتے ہوئے ان اعداد کو استعمال کر کے چند بنیادی حسابی عملیات ممکن ہیں۔ یعنی مثبت اعداد صحیح کا نظام جمع اور ضرب کے عمل کے لحاظ سے **بند**[3] نظام ہے۔ اس سے ہمارا مراد یہ ہے کہ اگر m اور n مثبت عدد صحیح ہوں تب درج ذیل بھی مثبت عدد صحیح ہوں گے۔

$$m + n = p \quad \text{اور} \quad mn = q \tag{۱}$$

مساوات ۱ کی دونوں مساواتوں میں بائیں ہاتھ دو عدد صحیح جانتے ہوئے ہم مطابقتی دائیں ہاتھ کے عدد صحیح دریافت کر سکتے ہیں۔ بعض اوقات مثبت عدد صحیح m اور p جانتے ہوئے ہم ایسا مثبت عدد صحیح n تلاش کر سکتے ہیں کہ $m + n = p$ ہو۔ مثال کے طور ہم $3 + n = 7$ کو حل کر کے ہم مثبت عدد صحیح n تلاش کر سکتے ہیں۔ اس کے برعکس $7 + n = 3$ کو حل کر کے ہم ایسا n دریافت نہیں کر سکتے جو مثبت عدد صحیح ہو۔ اس مثال سے واضح ہے کہ مثبت عدد صحیح نظام زیادہ کارآمد نہیں اور اس کو وسیع بنانے کی ضرورت ہے۔

منفی اعداد صحیح اور عدد صفر کی ایجاد نے $7 + n = 3$ طرز کی مساوات حل کرنا ممکن بنایا۔ ایسی تہذیب میں، جو تمام **عدد صحیح**[4]

$$\cdots, -3, -2, -1, 0, 1, 2, 3, \cdots \tag{۲}$$

---

[1] naturalnumbers
[2] positiveintegers
[3] closed
[4] integers

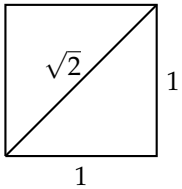

شکل ج.۱: اکائی مربع کے ضلع کی لمبائی غیر ناطق ہو گی۔

۲۵۵۶۴ جانتی ہو، ایک پڑھا لکھا شخص مساوات $m + n = p$ میں دو عدد صحیح جانتے ہوئے نامعلوم عدد صحیح تلاش کر سکتا ہے۔

۲۵۵۶۵ فرض کریں یہ پڑھا لکھا شخص مساوات ۲ میں دیے گئے اعداد استعمال کر کے ضرب کرنا بھی جانتا ہے۔ اگر m اور q معلوم ہو، وہ دیکھے گا کہ بعض اوقات n
۲۵۵۶۶ تلاش کرنا ممکن ہوتا ہے اور بعض اوقات ناممکن۔ اگر یہ شخص قابل اور ذہین ہو، ممکن ہے وہ اعداد کے نظام کو مزید وسعت دے کر عدد صحیح m اور n کی
۲۵۵۶۷ مرتب جوڑیاں m/n ، جس کو ہم کسر کہتے ہیں، متعارف کرے۔ عدد صفر خصوصی خواص رکھتا ہے جو کچھ عرصہ کے لئے مسئلے پیدا کر سکتا ہے، لیکن وہ جلد اس
۲۵۵۶۸ نتیجے پر پہنچ پائیں گے کہ m/n طرز کی تمام جوڑیاں کارآمد ہیں تاہم جن کے نسب نما میں صفر ہو انہیں عددی نظام میں شامل نہیں کیا جائے۔ یہ مجموع، جو **ناطق**
۲۵۵۶۹ **اعداد**[5] کہلاتا ہے، نظام میں کسی بھی دو اعداد پر حساب کی درج ذیل **ناطق عملیات**[6] ممکن بناتا ہے، تاہم صفر سے تقسیم کرنا ممکن نہیں۔

۲۵۵۷۰ ۱. ا) جمع
۲۵۵۷۱ ب) منفی
۲۵۵۷۲ ۲. ا) ضرب
۲۵۵۷۳ ب) تقسیم

۲۵۵۷۴ اکائی مربع کا ہندسہ (شکل ج.۱) اور مسئلہ فیثاغورث سے ہم جانتے ہیں کہ وہ ہندسی بناوٹ کی مدد سے لمبائی کی کسی بنیادی اکائی کے لحاظ سے $\sqrt{2}$ اکائی لمبائی کی
۲۵۵۷۵ لکیر کھینچ سکتے تھے۔ یوں ہم کہہ سکتے ہیں کہ ہندسی بناوٹ سے وہ درج ذیل مساوات حل کر سکتے تھے۔

$$x^2 = 2$$

۲۵۵۷۶ تاہم ان کو معلوم ہوا کہ $\sqrt{2}$ لمبائی کی لکیر اور 1 لمبائی کی لکیر متبائن مقادیر ہیں۔ یعنی $\sqrt{2}/1$ کو کسی دوسری زیادہ بنیادی اکائی لمبائی کے دو عدد صحیح
۲۵۵۷۷ مضرب کی نسبت نہیں لکھا جا سکتا۔ یوں ایک پڑھا لکھا شخص مساوات $x^2 = 2$ کا حل ناطق عدد کی صورت میں دریافت نہیں کر سکتا تھا۔

۲۵۵۷۸ ایسا کوئی ناطق عدد نہیں پایا جاتا جس کا مربع 2 ہو۔ یہ جاننے کے لئے کہ ایسا کیوں کر ہے، فرض کریں کہ ایسا ناطق عدد پایا جاتا ہے۔ یوں ہم ایسے دو عدد صحیح p
۲۵۵۷۹ اور q دریافت کر سکیں گے جن کا 1 کے علاوہ کوئی مشترک جزو ضربی نہ ہو اور جو درج ذیل کو مطمئن کرتے ہوں۔

$$p^2 = 2q^2 \tag{۳}$$

۲۵۵۸۰ چونکہ p اور q عدد صحیح ہیں، p کو جفت ہونا ہو گا ورنہ اس کا اپنے ساتھ حاصل ضرب طاق ہو گا۔ علامتوں میں $p = 2p_1$ ہو گا جہاں p_1 عدد صحیح
۲۵۵۸۱ ہے۔ یوں $2p_1^2 = q^2$ لکھا جا سکتا ہے جس کے تحت q کو جفت ہونا ہو گا مثلاً $q = 2q_1^2$ جہاں q_1 عدد صحیح ہے۔ اس طرح 2 کو p

---

[5] rationalnumbers
[6] rationaloperations

اور q دونوں کا جزو ضربی ہونا ہوگا، لیکن ہم نے p اور q کا انتخاب اس طرح کیا تھا کہ 1 کے علاوہ ان کا کوئی مشترک جزو ضربی نہ ہو۔ لہٰذا ایسا کوئی ناطق عدد نہیں پایا جاتا جس کا مربع 2 ہو۔

اگرچہ پڑھا لکھا شخص مساوات $x^2 = 2$ کو حل نہیں کر سکتا تاہم وہ ناطق اعداد کی ترتیب

$$\frac{1}{1}, \frac{7}{5}, \frac{41}{29}, \frac{239}{169}, \ldots \tag{۴}$$

وضع کر سکتا تھا جن کے مربع درج ذیل ترتیب دیتے ہیں

$$\frac{1}{1}, \frac{49}{25}, \frac{1681}{841}, \frac{57121}{28561}, \ldots \tag{۵}$$

جس کی حد 2 پر مرکوز ہے۔ اس حقیقت کی وجہ سے انہیں ناطق اعداد کی ترتیب کی حد کا تصور واضح ہوا۔ اگر ہم اس حقیقت کو مان لیں کہ اوپر سے محدود بڑھتی ترتیب ہر صورت ایک حد پر مرکوز ہو گی اور ہم دیکھیں کہ (۴) میں دی گئی ترتیب یہ خواص رکھتی ہے تب ہم چاہیں گے کہ یہ حد L ہو۔ ترتیب ۵ کو دیکھ کر اس کا یہ مطلب بھی ہے کہ $L^2 = 2$ ہو گا لہٰذا L ناطق عدد نہیں ہو سکتا۔ ناطق اعداد کے ساتھ ناطق اعداد کی تمام بڑھتی محدود ترتیبات کی حدیں شامل کرنے سے ہمیں تمام حقیقی اعداد کا نظام ملتا ہے۔ یہاں لفظ حقیقی اس نظام کو کسی بھی لحاظ سے ریاضی کے دیگر نظام سے زیادہ یا کم حقیقی نہیں بناتا۔ یہ محض ایک نام ہے جو اس نظام کو دیا گیا ہے۔

مخلوط اعداد

ہم نے حقیقی اعداد کا نظام بنتے دیکھا۔ درحقیقت اس نظام کے ارتقا میں تین مراحل دیکھے گئے۔

۱. پہلے عددی نظام کی ایجاد: تمام عدد صحیح کا سلسلہ سادہ گنتی سے حاصل کیا۔

۲. دوسرے عددی نظام کی ایجاد: ناطق اعداد $m/n!$ کا سلسلہ اعداد صحیح سے حاصل کیا گیا۔

۳. تیسرے عددی نظام کی ایجاد: حقیقی اعداد x کا سلسلہ ناطق اعداد اسے حاصل کیا گیا۔

عددی نظام کی ایجادات درجائی ہیں۔ ہر نئے نظام میں گزشتہ نظام شامل ہیں۔ ہر نیا نظام زیادہ وسیع ہے اور اس نظام میں رہتے ہوئے مزید ریاضیاتی عمل ممکن ہیں۔

۱. تمام اعداد صحیح کے نظام میں درج ذیل روپ کی تمام مساوات حل کی جا سکتی ہیں جہاں a عدد صحیح ہے۔

$$x + a = 0 \tag{۶}$$

۲. تمام ناطق اعداد کے نظام میں درج ذیل روپ کی مساوات حل کی جا سکتی ہیں جہاں a اور b ناطق اعداد ہیں اور $a \neq 0$ ہے۔

$$ax + b = 0 \tag{۷}$$

۳. تمام حقیقی اعداد کے نظام میں مساوات ۶ اور مساوات ۷ کے علاوہ تمام دو درجی مساوات

$$ax^2 + bx + c = 0 \tag{۸}$$

حل کرنا ممکن ہے، جہاں $a \neq 0$ اور $b^2 - 4ac \geq 0$ ہیں۔

۲۵۶۰۱ آپ غالباً درج ذیل کلیہ جانتے ہیں جو مساوات ۸ کا حل دیتا ہے۔

$$x = \frac{-b \pm \sqrt{b^2 - 4ac}}{2a} \tag{۹}$$

۲۵۶۰۲ آپ یقیناً یہ بھی جانتے ہوں گے جب **مفرق**[۷]، $d = b^2 - 4ac$، منفی ہو، مساوات ۹ کا حل کسی بھی مذکورہ بالا اعدادی نظام میں نہیں پایا جاتا۔
۲۵۶۰۳ درحقیقت، مذکورہ بالا ایجاد شدہ اعداد نظام کے اندر رہتے ہوئے، درج ذیل نہایت سادہ دو درجی مساوات کا حل ممکن نہیں۔

$$x^2 + 1 = 0$$

۲۵۶۰۴ اس طرح ہم چوتھا عددی نظام ایجاد کرتے ہیں، جو تمام مخلوط اعداد $a + ib$ پر مشتمل ہے۔ ہم علامت i کو رد کر کے علامت (a, b) استعمال کر سکتے ہیں،
۲۵۶۰۵ جہاں ہم عدد صحیح a اور b کی جوڑی کی بات کریں گے۔ الجبرائی عمل میں a اور b کے ساتھ مختلف برتاؤ کیا جاتا ہے لہٰذا قوسین میں ان کی ترتیب تبدیل
۲۵۶۰۶ نہیں کی جا سکتی۔ یوں ہم کہہ سکتے ہیں کہ مخلوط عددی نظام، اعداد صحیح کی تمام مرتب جوڑیوں (a, b) پر مشتمل ہے اور جوڑیوں کی مساویت، مجموعہ، فرق،
۲۵۶۰۷ ضرب، وغیرہ درج ذیل قواعد کے تحت ہیں۔ درج ذیل بحث میں (a, b) اور $a + ib$ علامتیت دونوں استعمال کی گئی ہے۔ ہم a کو مخلوط عدد (a, b)
۲۵۶۰۸ کا **حقیقی جزو**[۸] اور b کو اس کا **خیالی جزو**[۹] کہتے ہیں۔

۲۵۶۰۹ ہم درج ذیل متعارف کرتے ہیں۔

۲۵۶۱۰ مساویت

۲۵۶۱۱ دو مخلوط اعداد $a + ib$ اور $c + id$ صرف اور صرف اس صورت ایک دوسرے کے برابر:

$$a + ib = c + id$$

ہوں گے جب $a = c$ اور $b = d$ ہو۔

دو مخلوط اعداد (a, b) اور (c, d) صرف اور صرف اس صورت ایک دوسرے کے برابر ہوں گے جب $a = c$ اور $b = d$ ہو۔

۲۵۶۱۲ جمع

۲۵۶۱۳
$$(a + ib) + (c + id) = (a + c) + i(b + d)$$

دو مخلوط اعداد (a, b) اور (c, d) کا مجموعہ مخلوط عدد $(a + c, b + d)$ ہو گا۔

۲۵۶۱۴ ضرب

۲۵۶۱۵
$$(a + ib)(c + id) = (ac - bd) + i(ad + bc)$$

دو مخلوط اعداد (a, b) اور (c, d) کا حاصل ضرب مخلوط عدد $(ac - bd, ad + bc)$ ہو گا۔

۲۵۶۱۶ ان تمام مخلوط اعداد (a, b) کا سلسلہ جن میں دوسرا عدد b صفر ہو حقیقی اعداد a کے سلسلہ کے تمام خواص رکھتا ہے۔ مثال کے طور پر $(a, 0)$ اور
۲۵۶۱۷ $(b, 0)$ کا مجموعہ اور حاصل ضرب درج ذیل ہوں گے

$$(a, 0) + (c, 0) = (a + c, 0)$$
$$(a, 0) \cdot (c, 0) = (ac, 0)$$

۲۵۶۱۸ جو اسی قسم کے اعداد ہیں اور ان کا خیالی جزو صفر ہے۔ اسی طرح "حقیقی عدد" $(a, 0)$ اور مخلوط عدد (c, d) کو آپس میں ضرب کرنے سے درج ذیل
۲۵۶۱۹ حاصل ہو گا۔

$$(a, 0) \cdot (c, d) = (ac, ad) = a(c, d)$$

---

[۷] discriminant
[۸] realpart
[۹] imaginarypart

بالخصوص، مخلوط عددی نظام میں مخلوط عدد $(0,0)$ صفر کا کردار اور مخلوط عدد $(1,0)$ اکائی کا کردار ادا کرتا ہے۔

جوڑی عدد $(0,1)$ ، جس کا حقیقی جزو صفر اور خیالی جزو ایک کے برابر ہے، کی خاصیت یہ ہے کہ اس کے مربع:

$$(0,1)\cdot(0,1)=(-1,0)$$

میں حقیقی جزو منفی ایک اور خیالی جزو صفر کے برابر ہے۔ یوں، مخلوط اعداد (a,b) کے نظام میں ایسا عدد $x=(0,1)$ پایا جاتا ہے جس کے مربع کو اکائی $(1,0)$ کے ساتھ جمع کرنے سے صفر $(0,0)$ حاصل ہوتا ہے (ذیل دیکھیں)۔

$$(0,1)^2+(1,0)=(0,0)$$

یوں اس نئے عددی نظام میں درج ذیل مساوات کا حل $x=(0,1)$ ہے۔

$$x^2+1=0$$

آپ غالباً (a,b) کے لحاظ سے $a+ib$ کی علامت سے زیادہ واقف ہیں۔ مرتب جوڑیوں کے ریاضی قواعد کے تحت درج ذیل لکھا جا سکتا ہے

$$(a,b)=(a,0)+(0,b)=a(1,0)+b(0,1)$$

اور چونکہ $(1,0)$ کا رویہ اکائی کی طرح اور $(0,1)$ کا رویہ منفی ایک کے جذر کی طرح ہے لہٰذا (a,b) کی جگہ $a+ib$ لکھنے میں جھجک محسوس نہ کریں، جس میں b کے ساتھ چسپاں i یقینی بناتا ہے کہ خیالی جزو کی درست نشاندہی ہو۔ ہم جب چاہیں $a+ib$ کی جگہ (a,b) یا (a,b) کی جگہ $a+ib$ لکھ سکتے ہیں۔ مخلوط عددی نظام (a,b) میں رائج الجبرائی قواعد جاننے کے بعد یاد رہے کہ علامت $i=(0,1)$ کسی بھی لحاظ سے علامت $(1,0)$ سے کم حقیقی نہیں ہے۔ پس ایک کو حقیقی اور دوسرے کو خیالی نام دیا گیا ہے۔

مخلوط اعداد کے کسی بھی ناطق ملاپ کو واحد ایک مخلوط عدد میں سمیٹنے کے لئے بنیادی الجبرا کے قواعد استعمال کریں اور جہاں i^2 ہو وہاں -1 لکھیں۔ یاد رہے کہ مخلوط عدد $(0,0)=0+i0$ سے تقسیم کی اجازت نہیں۔ اگر $a+ib\neq 0$ ہو تب تقسیم کا عمل درج ذیل ہو گا۔

$$\frac{c+id}{a+ib}=\frac{(c+id)(a-ib)}{(a+ib)(a-ib)}=\frac{(ac+bd)+i(ad-bc)}{a^2+b^2}$$

نتیجہ مخلوط عدد $x+iy$ ہے جہاں x اور y درج ذیل ہیں

$$x=\frac{ac+bd}{a^2+b^2},\quad y=\frac{ad-bc}{a^2+b^2}$$

جہاں $a+ib=(a,b)\neq(0,0)$ کی وجہ سے $a^2+b^2\neq 0$ ہو گا۔

نسب نما کو ضارب $a-ib$ سے ضرب دے کر نسب نما میں i سے چھٹکارہ حاصل کیا گیا۔ اس ضارب کو $a+ib$ کا **مخلوط جوڑی دار**[10] کہتے ہیں۔ روایتی طور پر مخلوط عدد z کے مخلوط جوڑی دار کو $\bar{z}$ سے ظاہر کیا جاتا ہے۔ یوں درج ذیل ہو گا۔

$$z=a+ib,\quad \bar{z}=a-ib$$

کسر $(c+id)/(a+ib)$ کے شمار کنندہ اور نسب نما کو مخلوط جوڑی دار سے ضرب دینے سے نسب نما ہر صورت حقیقی عدد میں تبدیل ہو گا۔

مثال ج.۱:

---

[10] complexconjugate

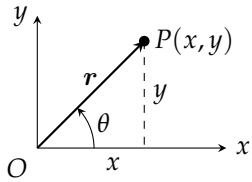

شکل ج.۲: انگن خاکہ میں $z = x + iy$ کو نقطہ $P(x, y)$ اور سمتیہ $\vec{OP}$ ظاہر کیا جاتا ہے۔

۲۵۶۳۸ ا.
$$(2+3i)+(6-2i) = (2+6)+(3-2)i = 8+i$$

۲۵۶۳۹ ب.
$$(2+3i)-(6-2i) = (2-6)+(3-(-2))i = -4+5i$$

۲۵۶۴۰ ج.
$$\begin{aligned}(2+3i)(6-2i) &= (2)(6)+(2)(-2i)+(3i)(6)+(3i)(-2i)\\ &= 12-4i+18i-6i^2 = 12+14i+6 = 18+14i\end{aligned}$$

۲۵۶۴۱ د.
$$\begin{aligned}\frac{2+3i}{6-2i} &= \left(\frac{2+3i}{6-2i}\right)\left(\frac{6+2i}{6+2i}\right)\\ &= \frac{12+4i+18i+6i^2}{36+12i-12i-4i^2}\\ &= \frac{6+22i}{40} = \frac{3}{20}+\frac{11}{20}i\end{aligned}$$

۲۵۶۴۲ □

۲۵۶۴۳ **انگن خاکے**

۲۵۶۴۴ مخلوط عدد $z = x + iy$ کا ہندسی اظہار درج ذیل دو طریقوں سے کیا جاتا ہے۔

۲۵۶۴۵ ا. اس کو مستوی xy میں نقطہ $P(x, y)$ سے ظاہر کیا جاتا ہے۔

۲۵۶۴۶ ب. اس کو مستوی xy میں مبدا سے نقطہ P تک سمتیہ $\overrightarrow{OP}$ سے ظاہر کیا جاتا ہے۔

۲۵۶۴۷ دونوں اظہار میں محور x **حقیقی محور**[۱۱] اور محور y **خیالی محور**[۱۲] اور کہلاتے ہیں۔ دونوں اظہار $x + iy$ کے **انگن خاکے**[۱۳] (شکل ج.۲) ہیں۔

۲۵۶۴۸ قطبی محدد میں x اور y کی قیمت درج ذیل ہو گی

$$x = r\cos\theta, \quad y = r\sin\theta$$

---

[۱۱] realaxis
[۱۲] imaginaryaxis
[۱۳] Arganddiagrams

لہٰذا درج ذیل ہو گا۔

$$z = x + iy = r(\cos\theta + i\sin\theta) \tag{۱۰}$$

ہم r کو مخلوط عدد $x + iy$ کی **مطلق قیمت**[۱۴] قرار دیتے ہیں جو مبدا سے نقطہ $P(x, y)$ تک سمتیہ $\overrightarrow{OP}$ کی لمبائی ہے۔ مطلق قیمت کو عمودی خطوط $|\ |$ سے ظاہر کیا جاتا ہے لہٰذا درج ذیل ہو گا۔

$$|x + iy| = \sqrt{x^2 = y^2}$$

قطبی محدد r اور θ استعمال کرتے ہوئے، جس میں r غیر منفی ہو گا، درج ذیل لکھا جائے گا۔

$$r = |x + iy|$$

قطبی زاویہ θ کو z کی **دلیل**[۱۵] کہا جاتا ہے اور ہم "دلیل $z = \theta$" لکھتے ہیں۔ ظاہر ہے θ کے ساتھ 2π کا کوئی بھی عدد صحیح مضرب جمع کر کے متعلقہ متبادل زاویہ پیدا کیا جا سکتا ہے۔

درج ذیل ایک مفید کلیہ ہے جو مخلوط عدد z، اس کا جوڑی دار $\bar{z}$، اور مطلق قیمت $|z|$ کا تعلق دیتا ہے۔

$$z \cdot \bar{z} = |z|^2$$

کلیہ یولر، حاصل ضرب، اور حاصل تقسیم

درج ذیل تماثل، جو **کلیہ یولر**[۱۶] کہلاتا ہے،

$$e^{i\theta} = \cos\theta + i\sin\theta$$

کی مدد سے مساوات ۱۰ درج ذیل لکھی جا سکتی ہے۔

$$z = re^{i\theta}$$

اس سے مخلوط اعداد کے حاصل ضرب، حاصل تقسیم، طاقت، اور جذر کے درج ذیل قواعد پیدا ہوتے ہیں۔ اس سے $e^{i\theta}$ کے انگن خا کے بھی حاصل ہوتے ہیں۔ مساوات ۱۰ میں $r = 1$ لینے سے $\cos\theta + i\sin\theta$ ملتا ہے لہٰذا ہم کہتے ہیں $e^{i\theta}$ کو اکائی سمتیہ ظاہر کرتا ہے جو مثبت محور x کے ساتھ زاویہ θ بناتا ہے (شکل ج.۳)۔

حاصل ضرب

دو مخلوط اعداد کو ضرب کرنے کے لئے ان کی مطلق قیمتوں کو آپس میں ضرب کیا جاتا ہے جبکہ ان کے زاویوں کو آپس میں جمع کیا جاتا ہے۔ ہم دو مخلوط اعداد:

$$z_1 = r_1 e^{i\theta_1}, \quad z_2 = r_2 e^{i\theta_2} \tag{۱۱}$$

---

[۱۴] absolutevalue
[۱۵] argument
[۱۶] Euler'sformula

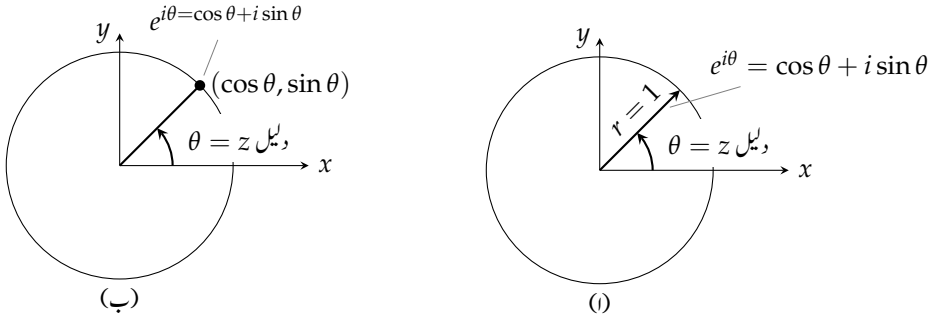

شکل ج.۳: اٹگن خاکہ $e^{i\theta} = \cos\theta + i\sin\theta$ کو بطور (ا) سمتیہ، اور (ب) ایک نقطہ ظاہر کرتا ہے۔

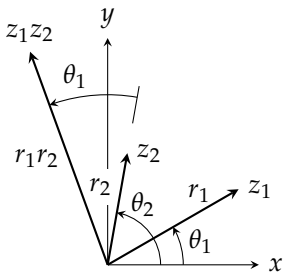

شکل ج.۴: مخلوط اعداد z_1 اور z_2 ضرب دینے سے $|z_1z_2| = r_1 \cdot r_2$ اور (z_1z_2) دلیل $= \theta_1 + \theta_2$ حاصل ہوگا۔

۲۵۶۶۴ لیتے ہیں لہٰذا

$$|z_1| = r_1, \quad z_1 \text{ دلیل} = \theta_1; \qquad |z_2| = r_2, \quad z_2 \text{ دلیل} = \theta_2$$

۲۵۶۶۵ ہوگا۔ یوں

$$z_1z_2 = r_1e^{i\theta_1} \cdot r_2e^{i\theta_2} = r_1r_2e^{i(\theta_1+\theta_2)}$$

۲۵۶۶۶ لہٰذا درج ذیل ہوگا۔

$$\begin{aligned} |z_1z_2| &= r_1r_2 = |z_1| \cdot |z_2| \\ (z_1z_2)\text{ دلیل} &= \theta_1 + \theta_2 = z_1 \text{ دلیل} + z_2 \text{ دلیل} \end{aligned} \tag{۱۲}$$

۲۵۶۶۷ یوں دو مخلوط اعداد کا حاصل ضرب ایسے سمتیہ سے ظاہر ہوگا جس کی لمبائی مخلوط اعداد کی مطلق قیمتوں کا حاصل ضرب اور دلیل اعداد کی دلائل کا مجموعہ (شکل
۲۵۶۶۸ ج.۴) ہو۔ مزید سمتیہ کو $e^{i\theta}$ سے ضرب دینا سمتیہ کو خلاف گھڑی زاویہ θ گھمانے کے مترادف ہے۔ سمتیہ کو i سے ضرب دینا خلاف گھڑی 90° گھماتا
۲۵۶۶۹ ہے، -1 سے ضرب 180°، اور $-i$ سے ضرب 270° خلاف گھڑی گھماتا ہے، وغیرہ۔

۲۵۶۷۰ مثال ج.۲: فرض کریں $z_1 = 1 + i$ اور $z_2 = \sqrt{3} - i$ ہیں۔ ہمیں ان کے اٹگن خاکوں (شکل ج.۵) سے مطلق قیمتیں اور دلائل کی
۲۵۶۷۱ قیمتیں دیکھ کر درج لکھتے ہیں۔

$$z_1 = \sqrt{2}e^{i\pi/4}, \quad z_2 = 2e^{-i\pi/6}$$

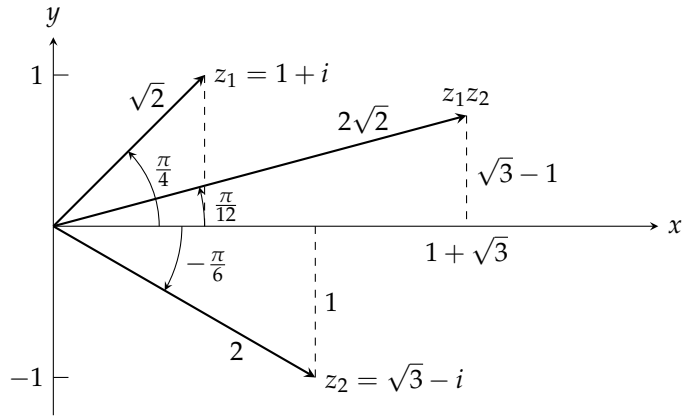

شکل ج.۵: دو مخلوط اعداد آپس میں ضرب کرنے کے لئے ان کی مطلق قیمتوں کو آپس میں ضرب کریں اور ان کے دلائل آپس میں جمع کریں۔

۲۵۶۷۲ یوں درج ذیل ہو گا۔

$$\begin{aligned} z_1 z_2 &= 2\sqrt{2} e^{(\frac{i\pi}{4} - \frac{i\pi}{6})} = 2\sqrt{2} e^{\frac{i\pi}{12}} \\ &= 2\sqrt{2}\Big(\cos\frac{\pi}{12} + i\sin\frac{\pi}{12}\Big) \approx 2.73 + 0.73i \end{aligned}$$

۲۵۶۷۳ □

۲۵۶۷۴ **حاصل تقسیم**

۲۵۶۷۵ فرض کریں مساوات ۱۱ میں $r_2 \neq 0$ ہے۔ تب

$$\frac{z_1}{z_2} = \frac{r_1 e^{i\theta_1}}{r_2 e^{i\theta_2}} = \frac{r_1}{r_2} e^{i(\theta_1 - \theta_2)}$$

۲۵۶۷۶ لہٰذا درج ذیل ہو گا۔

$$\left|\frac{z_1}{z_2}\right| = \frac{r_1}{r_2} = \frac{|z_1|}{|z_2|} \quad \text{اور} \quad \left(\frac{z_1}{z_2}\right)\text{دلیل} = \theta_1 - \theta_2 = z_1\text{دلیل} - z_2\text{دلیل}$$

۲۵۶۷۷ یعنی ہم لمبائیاں تقسیم اور زاویے منفی کرتے ہیں۔

۲۵۶۷۸ مثال ج.۳: گزشتہ مثال کی طرح یہاں بھی دو مخلوط اعداد $z_1 = 1 + i$ اور $z_2 = \sqrt{3} - i$ ہیں۔ یوں درج ذیل ہوگا۔

$$\frac{1+i}{\sqrt{3}-i} = \frac{\sqrt{2}e^{i\pi/4}}{2e^{-i\pi/6}} = \frac{\sqrt{2}}{2}e^{5\pi i/12} \approx 0.707\left(\cos\frac{5\pi}{12} + i\sin\frac{5\pi}{12}\right)$$
$$\approx 0.183 + 0.\overline{683}i$$

۲۵۶۷۹ □

۲۵۶۸۰ **طاقت**

۲۵۶۸۱ اگر n مثبت عدد صحیح ہو، ہم مساوات ۱۲ استعمال کر کے درج ذیل لکھ سکتے ہیں۔

$$z^n = z \cdot z \cdots z, \quad n \text{ اجزائے ضربی}$$

۲۵۶۸۲ اب $z = re^{i\theta}$ کے لئے درج ذیل ہوگا۔

$$z^n = \left(re^{i\theta}\right)^n = r^n e^{i(\theta+\theta+\cdots+\theta)}, \quad n \text{ اجزائے ضربی}$$
$$= r^n e^{in\theta} \tag{۱۳}$$

۲۵۶۸۳ لمبائی $r = |z|$ کی n ویں طاقت لی جاتی ہے اور زاویہ $\theta =$ دلیل z کو n سے ضرب دیا جاتا ہے۔

۲۵۶۸۴ مساوات ۱۳ میں $r = 1$ لینے سے **مسئلہ ڈی موے ور**[۱۷] حاصل ہوتا ہے۔

۲۵۶۸۵ **مسئلہ ڈی موے ور**

$$(\cos\theta + i\sin\theta)^n = \cos n\theta + i\sin n\theta \tag{۱۴}$$

۲۵۶۸۶ ڈی موے ور کی مساوات (مساوات ۱۴) کا بایاں ہاتھ الکراجی کے مسئلہ ثنائی سے کھولنے کے بعد مختصر روپ $a + ib$ حاصل کر کے ہمیں $\cos\theta$ اور
۲۵۶۸۷ $\sin\theta$ کے درجہ n روپ میں $\cos n\theta$ اور $\sin n\theta$ کی مساوات حاصل ہوتی ہیں۔

۲۵۶۸۸ مثال ج.۴: اگر مساوات ۱۴ میں $n = 3$ ہو تب درج ذیل ہوگا۔

$$(\cos\theta + i\sin\theta)^3 = \cos 3\theta + i\sin 3\theta$$

۲۵۶۸۹ مساوات کے بائیں ہاتھ کو الکراجی کے مسئلہ ثنائی سے کھول کر درج ذیل ملتا ہے۔

$$\cos^3\theta + 3i\cos^2\theta\sin\theta - 3\cos\theta\sin^2\theta - i\sin^3\theta$$

۲۵۶۹۰ حقیقی حصہ لازماً $\cos 3\theta$ کے برابر اور خیالی حصہ لازماً $\sin 3\theta$ کے برابر ہوگا۔ یوں درج ذیل ہوگا۔

$$\cos 3\theta = \cos^3\theta - 3\cos\theta\sin^2\theta$$
$$\sin 3\theta = 3\cos^2\theta\sin\theta - \sin^3\theta$$

۲۵۶۹۱ □

---

[۱۷] DeMoivre'theorem

جذر

اگر مخلوط عدد $z = r^{i\theta}$ غیر صفر ہو اور n مثبت عدد صحیح ہو، تب ٹھیک ایسے n منفرد مخلوط اعداد w_0 ، w_1 ، $\cdots$ ، w_{n-1} پائے جاتے ہیں جو z کے n ویں جذر ہوں گے۔ اس کی وجہ جاننے کے لئے، $w = \rho e^{i\alpha}$ کو $z = re^{i\theta}$ کا n واں جذر مان لیں، تاکہ

$$w^n = z$$

یعنی درج ذیل ہو۔

$$\rho^n e^{in\alpha} = re^{i\theta}$$

تب r کا حقیقی، مثبت n واں جذر درج ذیل ہو گا۔

$$\rho = \sqrt[n]{r}$$

زاویے کی بات کرتے ہوئے، اگرچہ ہم یہ نہیں کہہ سکتے کہ $n\alpha$ اور θ ایک دوسرے کے برابر ہوں گے، ہم یہ ضرور کہہ سکتے ہیں کہ ان میں فرق 2π کا مضرب ہو گا۔ یوں درج ذیل ہو گا۔

$$n\alpha = \theta + 2k\pi, \quad k = 0, \pm 1, \pm 2, \cdots$$

اس طرح

$$\alpha = \frac{\theta}{n} + k\frac{2\pi}{n}$$

ہو گا اور $z = re^{i\theta}$ کے تمام n ویں جذر درج ذیل ہوں گے۔

$$\sqrt[n]{re^{i\theta}} = \sqrt[n]{r}\, e^{i(\frac{\theta}{n} + k\frac{2\pi}{n})}, \quad k = 0, \pm 1, \pm 2, \cdots \tag{۱۵}$$

آپ کو ایسا نظر آئے گا کہ k کی لامتناہی قیمتوں کی وجہ سے لامتناہی جذر ہوں گے، تاہم مساوات ۱۵ ہمیں $k = n + m$ کے لئے وہی جواب دیتی ہے جو وہ $k = m$ دیتی ہے۔ یوں z کی تمام n منفرد جذر معلوم کرنے کی خاطر ہمیں k کی صرف ابتدائی یکے بعد دیگرے n قیمتیں درکار ہوں گی۔

اپنی آسانی کی خاطر ہم درج ذیل لیتے ہیں۔

$$k = 0, 1, 2, \cdots, n-1$$

مخلوط عدد $re^{i\theta}$ کے تمام n جذر، مبدا پر مرکوز ایسے دائرے پر پائے جاتے ہیں جس کا رداس r کا n ویں جذر ہے۔ ان میں ایک کا دلیل $\alpha = \theta/n$ کے برابر ہے۔ باقی جذر دائرے پر ایک دوسرے سے یکساں فاصلے پر پائے جاتے ہیں جہاں دو قریبی جذر کے بیچ زاویہ $2\pi/n$ ہو گا۔ شکل ج.۶ میں مخلوط عدد $z = re^{i\theta}$ کے کعبی جذر w_0 ، w_1 ، اور w_2 کے محل وقوع دکھائے گئے ہیں۔

مثال ج.۵: عدد -16 کی تمام چوتھی جذریں تلاش کریں۔

حل: سب سے پہلے عدد -16 کا انگن خاکہ (شکل ج.۷) بنا کر اس کا قطبی روپ $re^{i\theta}$ تلاش کرتے ہیں۔ یہاں $z = -16$ ، $r = +16$ ، اور $\theta = \pi$ ہیں۔ عدد $16e^{i\pi}$ کا ایک چوتھواں جذر $2e^{i\pi/4}$ ہے۔ باقی جذر جاننے کے لئے ہم پہلے جذر کی دلیل کے ساتھ یک بعد دیگرے $2\pi/4 = \pi/2$ جمع کرتے ہیں۔ یوں

$$\sqrt[4]{16e^{i\pi}} = 2e^{i(\frac{\pi}{4}, \frac{3\pi}{4}, \frac{5\pi}{4}, \frac{7\pi}{4})}$$

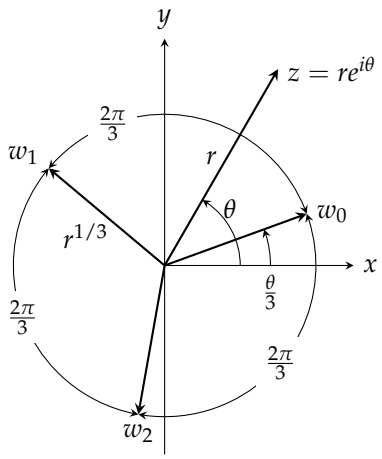

شکل ج.۶: مخلوط عدد $z = re^{i\theta}$ کے تین کعبی جذر۔

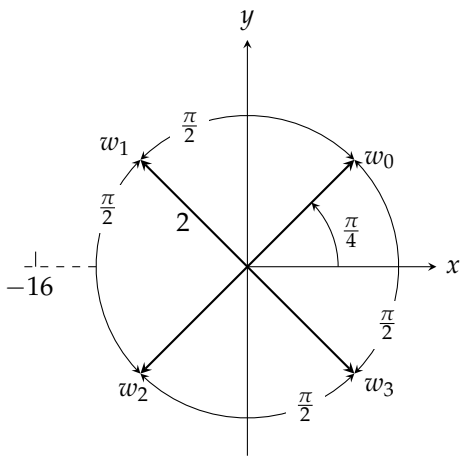

شکل ج.۷: عدد -16 کے چار چوتھویں جذر۔

ہو گا لہٰذا چار جذر درج ذیل ہوں گے۔

$$
\begin{aligned}
w_0 &= 2\left[\cos\frac{\pi}{4} + i\sin\frac{\pi}{4}\right] = \sqrt{2}(1+i)\\
w_1 &= 2\left[\cos\frac{3\pi}{4} + i\sin\frac{3\pi}{4}\right] = \sqrt{2}(-1+i)\\
w_2 &= 2\left[\cos\frac{5\pi}{4} + i\sin\frac{5\pi}{4}\right] = \sqrt{2}(-1-i)\\
w_3 &= 2\left[\cos\frac{7\pi}{4} + i\sin\frac{7\pi}{4}\right] = \sqrt{2}(1-i)
\end{aligned}
$$

□

الجبرا کا بنیادی مسئلہ

ہم کہہ سکتے ہیں کہ $\sqrt{-1}$ کی ایجاد نہایت مفید ثابت ہوئی اور اس کے ذریعے سے جو عددی نظام حاصل ہوا وہ حقیقی عددی نظام سے بہت بہتر ہے؛ تاہم یہ جاننا ضروری ہے کہ بہتر سے بہتر عددی نظام کی ایجاد کا سلسلہ کب ختم ہو گا۔ کیا ہمیں مزید نظام ایجاد کرنے ہوں گے جن میں $\sqrt[4]{-1}$ ، $\sqrt[6]{-1}$ ، وغیرہ استعمال ہوں گے؟ یہاں تک پہنچنے کے بعد آپ پر واضح ہو چکا ہو گا کہ ایسا کرنے کی ضرورت نہیں چونکہ ان اعداد کو ہم مخلوط عددی نظام میں $a + ib$ کے روپ میں لکھ سکتے ہیں۔ درحقیقت، الجبرا کا بنیادی مسئلہ کہتا ہے کہ مخلوط اعداد متعارف کرنے کے بعد ہر کثیر رکنی کو خطی اجزائے ضربی کا حاصل ضرب لکھنے کے لئے ہمارے پاس کافی اعداد موجود ہیں، لہٰذا ہر ممکنہ کثیر رکنی مساوات حل کرنے کے لئے ہمارے پاس کافی اعداد موجود ہیں۔

الجبرا کا بنیادی مسئلہ درج ذیل روپ کی ہر مساوات

$$a_0z^n + a_1z^{n-1} + a_2z^{n-2} + \cdots + a_{n-1}z + a_0 = 0$$

جس میں عددی سر a_0 ، a_1 ، ۔ ۔ ۔ ، a_n مخلوط اعداد ہوں، جس کا درجہ n ایک کے برابر یا اس سے بڑا ہو، اور جس کا عددی سر a_0 غیر صفر ہو، کے ٹھیک n جذر مخلوط عددی نظام میں پائے جاتے ہیں، بشرطیکہ ہر وہ جذر جس کا تعدد m ہو m جذر شمار ہوں۔

اس مسئلے کا ثبوت مخلوط متغیر کے تفاعلات کے نظریہ کی تقریباً ہر کتاب میں دیکھا جا سکتا ہے۔

سوالات

مخلوط اعداد پر عملیات

سوال ج.۱: کمپیوٹر مخلوط اعداد کیسے ضرب کرتا ہے۔

درج ذیل کے لئے $(a,b)\cdot(c,d) = (ac-bd, ad+bc)$ تلاش کریں۔

۲۵۷۲۹ ا. $(2,3)\cdot(4,-2)$ ۲۵۷۳۰ ب. $(2,-1)\cdot(-2,3)$ ۲۵۷۳۱ ج. $(-1,-2)\cdot(2,1)$

۲۵۷۳۲ (مخلوط اعداد کا حاصل ضرب کمپیوٹر اس طرح حاصل کرتا ہے۔)

۲۵۷۳۳ سوال ج.۲: درج ذیل حل کر کے حقیقی اعداد x اور y تلاش کریں۔

۲۵۷۳۴ ا. $(3+4i)^2-2(x-iy)=x+iy$

۲۵۷۳۵ ب. $\left(\frac{1+i}{1-i}\right)^2+\frac{1}{x+iy}=1+i$

۲۵۷۳۶ ج. $(3-2i)(x+iy)=2(x-2iy)+2i-1$

۲۵۷۳۷

۲۵۷۳۸ ترسیم اور ہندسہ

۲۵۷۳۹ سوال ج.۳: درج ذیل مخلوط اعداد میں کتنوں کو ہندسہ کے ذریعہ $z=x+iy$ سے حاصل کیا جا سکتا ہے۔ خاکے کھینچیں۔

۲۵۷۴۰ ا. $\bar{z}$ ۲۵۷۴۲ ج. $-z$

۲۵۷۴۱ ب. $\overline{(-z)}$ ۲۵۷۴۳ د. $\frac{1}{z}$

۲۵۷۴۴ سوال ج.۴: دکھائیں کہ انگن خاکے میں دو نقطوں z_1 اور z_2 کے بیچ فاصلہ $|z_1-z_2|$ ہوگا۔

۲۵۷۴۵

۲۵۷۴۶ سوال ج.۵ تا ج.۱۰ میں شرائط پر پورا اترنے والے نقاط $z=x+iy$ ترسیم کریں۔

۲۵۷۴۷ سوال ج.۵:

۲۵۷۴۸ ا. $|z|=2$ ۲۵۷۴۹ ب. $|z|<2$ ۲۵۷۵۰ ج. $|z|>2$

۲۵۷۵۱ سوال ج.۶: $|z-1|=2$

۲۵۷۵۲ سوال ج.۷: $|z+1|=1$

۲۵۷۵۳ سوال ج.۸: $|z+1|=|z-1|$

۲۵۷۵۴ سوال ج.۹: $|z+i|=|z-1|$

۲۵۷۵۵ سوال ج.۱۰: $|z+1|\geq|z|$

۲۵۷۵۶

۲۵۷۵۷ سوال ج.۱۱ تا ج.۱۴ میں مخلوط اعداد کو $re^{i\theta}$ کے روپ میں لکھیں، جہاں $r\geq 0$ اور $-\pi<\theta<\pi$ ہے۔ ہر عدد کا انگن خاکہ بنائیں۔

سوال ج.۱۱: $(1+\sqrt{-3})^2$

سوال ج.۱۲: $\dfrac{1+i}{1-i}$

سوال ج.۱۳: $\dfrac{1+i\sqrt{3}}{1-i\sqrt{3}}$

سوال ج.۱۴: $(2+3i)(1-2i)$

نظریہ اور مثالیں

سوال ج.۱۵: انگلن خاکے کی مدد سے دکھائیں کہ سمتیات جمع کرنے کا متوازی الاضلاع قاعدہ ہی مخلوط اعداد جمع کرنے کا قاعدہ ہے۔

سوال ج.۱۶: دکھائیں کہ دو مخلوط اعداد z_1 اور z_2 کے مجموعہ (حاصل ضرب، یا حاصل تقسیم) کا جوڑی دار وہی ہو گا جو ان اعداد کے جوڑی دار کا مجموعہ (حاصل ضرب، یا حاصل تقسیم) ہو گا۔

سوال ج.۱۷: حقیقی عددی سر والے کثیر رکنیوں کے مخلوط جذر، مخلوط جوڑی دار جوڑیوں میں پائے جاتے ہیں۔

ا. اگر درج ذیل کثیر رکنی کے عددی سر a_0 ، ۰ ۰ ۰ ، a_n حقیقی ہوں تب سوال ج.۱۶ کے نتیجہ کو وسعت دیتے ہوئے دکھائیں کہ $f(\bar{z}) = \overline{f(z)}$ ہو گا۔

$$f(z) = a_0 z^n + a_1 z^{n-1} + \cdots + a_{n-1} z + a_0$$

ب. اگر کثیر رکنی $f(z)$ کے عددی سر (جزو الف کی طرح) حقیقی ہوں اور مساوات $f(z) = 0$ کا ایک جذر z ہو، دکھائیں کہ $\bar{z}$ بھی اس مساوات کا جذر ہو گا۔(اشارہ: $f(z) = u + iv = 0$ لیں؛ یوں u اور v دونوں صفر ہوں گے؛ اب اس حقیقت کو بروئے کار لائیں کہ $f(\bar{z}) = \overline{f(z)} = u - iv$ ہو گا۔)

سوال ج.۱۸: دکھائیں کہ $|\bar{z}| = |z|$ ہو گا۔

سوال ج.۱۹: اگر z اور $\bar{z}$ برابر ہوں، مخلوط مستوی میں نقطہ z کے مقام کے بارے میں کیا کہا جا سکتا ہے؟

سوال ج.۲۰: مخلوط عدد z کے حقیقی حصے کو $\mathrm{Re}(z)$ اور خیالی حصے کو $\mathrm{Im}(z)$ سے ظاہر کرتے ہوئے دکھائیں کہ درج ذیل تعلقات کو مخلوط اعداد z_1 ، z_2 ، اور z_3 مطمئن کرتے ہیں۔

ا. $z + \bar{z} = 2\,\mathrm{Re}(z)$

ب. $z - \bar{z} = 2i\,\mathrm{Im}(z)$

ج. $|\mathrm{Re}(z)| \le |z|$

د. $|z_1 + z_2|^2 = |z_1|^2 + |z_2|^2 + 2\,\mathrm{Re}(z_1 \bar{z}_2)$

ھ. $|z_1 + z_1| \le |z_1| + |z_2|$

مسئلہ ڈی موے ور استعمال کر کے سوال ج.۲۱ اور سوال ج.۲۲ میں تکونیاتی تفاعلات کا اظہار $\cos\theta$ اور $\sin\theta$ کے روپ میں کریں۔

سوال ج.۲۱: $\cos 4\theta$

سوال ج.۲۲: $\sin 4\theta$

جذر

سوال ج.۲۳: عدد 1 کے تین کعبی جذر تلاش کریں۔

سوال ج.۲۴: عدد i کے دو جذر المربع تلاش کریں۔

سوال ج.۲۵: عدد $-8i$ کے تین کعبی جذر تلاش کریں۔

سوال ج.۲۶: عدد 64 کے چھ چھٹے جذر تلاش کریں۔

سوال ج.۲۷: مساوات $z^4 - 2z^2 + 4 = 0$ کے چار حل تلاش کریں۔

سوال ج.۲۸: مساوات $z^6 + 2z^3 + 2 = 0$ کے چھ حل تلاش کریں۔

سوال ج.۲۹: مساوات $x^4 + 4x^2 + 16 = 0$ کے تمام حل تلاش کریں۔

سوال ج.۳۰: مساوات $x^4 + 1 = 0$ حل کریں۔

۲۵۷۹۸ ضمیمہ د

۲۵۷۹۹ سمسن کا ایک تہائی کا قاعدہ

۲۵۸۰۰ تکمل $\int_a^b f(x)\,\mathrm{d}x$ کی تخمین کا سمسن قاعدہ f کی ترسیم کو مکافی قوسوں سے تخمین دینے پر منحصر ہے۔

۲۵۸۰۱ شکل د.۱ میں مکافی کے نیچے سایہ دار خطے کا رقبہ درج ذیل ہے۔

$$\text{رقبہ} = \frac{h}{3}(y_0 + 4y_1 + y_2)$$

۲۵۸۰۲ اس کلیہ کو **سمسن کا ایک تہائی کا قاعدہ**[1] کہتے ہیں۔

۲۵۸۰۳ آئیں یہ کلیہ اخذ کریں۔ الجبرا سادہ رکھنے کی غرض سے شکل د.۲ میں پیش محددی نظام استعمال کیا جائے گا۔ مکافی کے نیچے رقبہ محور y کے مقام پر منحصر نہیں تاہم

۲۵۸۰۴ اس محور کا عمودی پیمانہ برقرار رکھنا ضروری ہے۔ مکافی کی مساوات $y = Ax^2 + Bx + C$ روپ رکھتی ہے لہٰذا $x = -h$ تا $x = h$

۲۵۸۰۵ اس کے نیچے رقبہ درج ذیل ہو گا۔

$$\begin{aligned}
\text{رقبہ} = \int_{-h}^{h} (Ax^2 + Bx + C)\,\mathrm{d}x &= \left[\frac{Ax^3}{3} + \frac{Bx^2}{2} + Cx\right]_{-h}^{h} \\
&= \frac{2Ah^3}{3} + 2Ch \\
&= \frac{h}{3}(2Ah^2 + 6C)
\end{aligned}$$

۲۵۸۰۶ منحنی نقاط $(-h, y_0)$ ، $0, y_1$ ، اور (h, y_2) سے بھی گزرتی ہے لہٰذا درج ذیل بھی ہو گا۔

$$y_0 = Ah^2 - Bh + C, \quad y_1 = C, \quad y_2 = Ah^2 + Bh + C$$

[1] Simson'sone-thirdrule

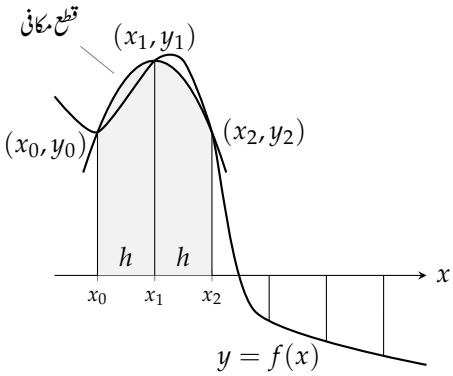

شکل د.۱: سمسن کا قاعدہ منحنی کے چھوٹے چھوٹے قطعات کو قطع مکافی سے تخمین دیتا ہے۔

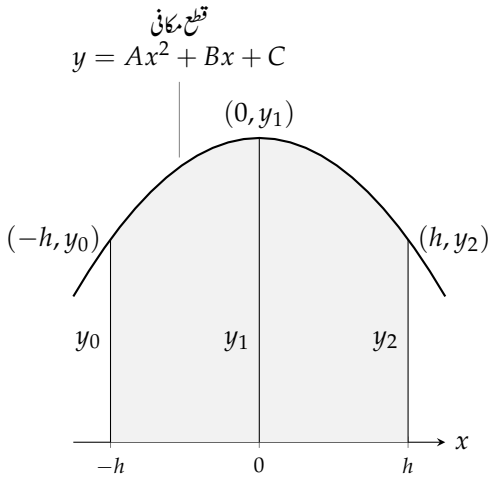

شکل د.۲: سایہ دار رقبہ تلاش کرنے کے لئے $-h$ تا h تکمل لے کر $\frac{h}{3}(y_0 + 4y_1 + y_2)$ حاصل ہو گا۔

۲۵۸۰۷ ان مساوات سے ذیل حاصل ہوتا ہے۔

$$\begin{aligned} C &= y_1 \\ Ah^2 - Bh &= y_0 - y_1 \\ Ah^2 + Bh &= y_2 - y_1 \\ 2Ah^2 &= y_0 + y_2 - 2y_1 \end{aligned}$$

۲۵۸۰۸ رقبے کی مساوات میں C اور $2Ah^2$ کی قیمتیں ڈال کر ذیل حاصل ہو گا۔

$$\text{رقبہ} = \frac{h}{3}(2Ah^2 + 6C) = \frac{h}{3}((y_0 + y_2 - 2y_1) + 6y_1) = \frac{h}{3}(y_0 + 4y_1 + y_2)$$

ضمیمہ ھ

کوشی کا مسئلہ اوسط قیمت اور قاعدہ لھوپیٹال ے کا پائیدار روپ

اس ضمیمہ میں قاعدہ لھوپیٹال (حصہ ۷.۶، مسئلہ ۷.۳) کے پائیدار روپ کی محدود حد صورت کا ثبوت پیش کیا جاتا ہے۔

قاعدہ لھوپیٹال (پائیدار روپ)

فرض کریں کھلے وقفہ (a, b) پر، جس میں نقطہ x_0 پایا جاتا ہے، تفاعلات f اور g دونوں قابل تفرق ہیں اور درج ذیل ہے۔

$$f(x_0) = g(x_0) = 0$$

مزید فرض کریں پورے (a, b) میں، ممکنہ طور پر ماسوائے نقطہ x_0 کے، ہر نقطے پر $g' \neq 0$ ہے۔ تب ذیل ہوگا، بشرطیکہ دائیں ہاتھ پر حد موجود ہو۔

$$\lim_{x \to x_0} \frac{f(x)}{g(x)} = \lim_{x \to x_0} \frac{f'(x)}{g'(x)} \tag{۱}$$

قاعدہ لھوپیٹال کے پائیدار روپ کا ثبوت کوشی کے مسئلہ اوسط قیمت پر منحصر ہے، جو ایسا اوسط قیمت مسئلہ ہے جو ایک کے بجائے دو تفاعلات کے متعلق ہے۔ ہم مسئلہ کوشی ثابت کرنے کے بعد دکھاتے ہیں اس سے قاعدہ لھوپیٹال کیسے اخذ ہوتا ہے۔

کوشی کا اوسط قیمت مسئلہ

فرض کریں $[a, b]$ پر تفاعلات f اور g استمراری اور پورے (a, b) پر قابل تفرق ہیں، اور پورے (a, b) پر $g' \neq 0$ ہے۔ تب (a, b) میں ایسا عدد c موجود ہوگا جس پر درج ذیل مطمئن ہوتا ہو۔

$$\frac{f'(c)}{g'(c)} = \frac{f(b) - f(a)}{g(b) - g(a)} \tag{۲}$$

اس میں $g(x) = x$ رکھنے سے مسئلہ اوسط قیمت کا سادہ روپ (حصہ ۴.۲، مسئلہ ۴.۴) حاصل ہوگا۔

کوشی کے اوسط قیمت مسئلے کا ثبوت

ہم حصہ ۴.۲ کے مسئلہ اوسط قیمت کا اطلاق دو مرتبہ کرتے ہیں۔اس کو استعمال کر کے ہم پہلے دکھاتے ہیں کہ $g(a) \neq g(b)$ ہو گا۔اگر $g(b)$ اور $g(a)$ برابر ہوں تب a اور b کے بیچ کسی c پر مسئلہ اوسط قیمت درج ذیل دیتا

$$g'(c) = \frac{g(b) - g(a)}{b - a} = 0$$

تاہم (a, b) میں $g'(x) \neq 0$ ہے لہٰذا ایسا ممکن نہیں۔

اس کے بعد مسئلہ اوسط قیمت کا اطلاق ہم ذیل تفاعل پر کرتے ہیں۔

$$F(x) = f(x) - f(a) - \frac{f(b) - f(a)}{g(b) - g(a)}[g(x) - g(a)]$$

یہ تفاعل وہاں استراری اور قابل تفرق ہے جہاں f اور g استراری اور قابل تفرق ہیں،اور $F(b) = F(a) = 0$ ہے۔لہٰذا a اور b کے بیچ ایسا عدد c موجود ہو گا جس پر $F'(c) = 0$ ہو گا۔تفاعلات f اور g کی صورت میں یہ حقیقت درج ذیل لکھی جا سکتی ہے

$$F'(c) = f'(c) - \frac{f(b) - f(a)}{g(b) - g(a)}[g'(c)] = 0$$

جس سے ذیل لکھا جا سکتا ہے جو مساوات ۲ ہے۔

$$\frac{f'(c)}{g'(c)} = \frac{f(b) - f(a)}{g(b) - g(a)}$$

□

قاعدہ لھوپیٹال کے پائیدار روپ کا ثبوت

ہم اول $x \to x_0^+$ کی صورت میں مساوات ا کی تصدیق کرتے ہیں۔یہی طریقہ $x \to x_0^-$ کے لئے بھی استعمال ہو گا،اور دونوں کو ملا کر نتیجہ حاصل ہو گا۔

فرض کریں x_0 کے دائیں جانب x پایا جاتا ہے۔یوں $g'(x) \neq 0$ ہو گا لہٰذا x_0 سے لیکر x تک کے بند وقفے پر کوشی کے مسئلہ اوسط قیمت کا اطلاق ہو گا۔اس سے x_0 اور x کے بیچ ایسا عدد c حاصل ہو گا جس پر درج ذیل مطمئن ہو گا،

$$\frac{f'(c)}{g'(c)} = \frac{f(x) - f(x_0)}{g(x) - g(x_0)}$$

تاہم $f(x_0) = g(x_0) = 0$ ہے لہٰذا درج ذیل ہو گا۔

$$\frac{f'(c)}{g'(c)} = \frac{f(x)}{g(x)}$$

جیسے جیسے x کی قیمت x_0 کی قیمت کے قریب پہنچتی ہے، چونکہ c خود x اور x_0 کے بیچ پایا جاتا ہے لہٰذا c کی قیمت x_0 کو پہنچے گی۔ یوں درج ذیل ہو گا۔

$$\lim_{x\to x_0^+} \frac{f(x)}{g(x)} = \lim_{c\to x_0^+} \frac{f'(c)}{g'(c)} = \lim_{x\to x_0^+} \frac{f'(x)}{g'(x)}$$

یوں قاعدہ لھوپیٹال کا ثبوت اس صورت کے لئے مکمل ہوا جب x کی قیمت x_0 کی قیمت تک اوپر سے پہنچتی ہو۔ جہاں x کی قیمت x_0 کی قیمت تک نیچے سے پہنچتی ہو وہاں ہم $x < x_0$ لے کر کوشی کے اوسط قیمت مسئلہ کا اطلاق وقفہ $[x, x_0]$ پر کرتے ہوئے ثبوت حاصل کرتے ہیں۔

$\square$

ضمیمہ و

کثیر استعمال حدود

یہ ضمیمہ حصہ ۹.۲ کے جدول ۹.۲ میں پیش حد ۴تا۶ کی تصدیق کرتا ہے۔

ثبوت: **حد ۴: اگر $|x| < 1$ ہو تب $\lim_{x^n} x^n = 0$ ہو گا۔** ہم نے دکھانا ہو گا کہ ہر $\epsilon > 0$ کا مطابق اتنا بڑا عدد صحیح N موجود ہے جس سے بڑے تمام اعداد n کے لئے $|x^n| < \epsilon$ ہو گا۔ چونکہ $|x| < 1$ کی صورت میں $\epsilon^{1/n} \to 1$ ہے، ایسا عدد صحیح موجود ہو گا جس کے لئے $\epsilon^{1/N} > |x|$ ہو۔ دوسرے الفاظ میں درج ذیل ہو گا۔

$$|x^N| = |x|^N < \epsilon \tag{۱}$$

یہ وہ عدد صحیح ہے جس کی ہمیں تلاش ہے چونکہ $|x| < 1$ کی صورت میں درج ذیل ہو گا۔

$$|x^n| < |x^N| \quad \text{تمام } n > N \text{ کے لئے} \tag{۲}$$

مساوات ۱ اور مساوات ۲ ملا کر، تمام $n > N$ کے لئے $|x^n| < \epsilon$ حاصل ہو گا۔ یوں ثبوت مکمل ہوا۔

$\square$

ثبوت: **حد ۵: کسی بھی عدد x کے لئے $\lim_{n\to\infty}(1+\frac{x}{n})^n = e^x$ ہو گا۔**

درج ذیل فرض کرتے ہوئے

$$a_n = \left(1+\frac{x}{n}\right)^n$$

درج ذیل لکھا جا سکتا ہے۔

$$\ln a_n = \ln\left(1+\frac{x}{n}\right)^n = n\ln\left(1+\frac{x}{n}\right)$$

۲۵۸۵۴ ال ہوس پٹل کا قاعدہ استعمال کرتے ہوئے، ہم n کے لحاظ سے تفرق لے کر حد تلاش کرتے ہیں۔

$$\begin{aligned}\lim_{n\to\infty} n\ln\left(1+\frac{x}{n}\right) &= \lim_{n\to\infty}\frac{\ln(1+x/n)}{1/n}\\ &= \lim_{n\to\infty}\frac{\left(\frac{1}{1+x/n}\right)\cdot\left(-\frac{x}{n^2}\right)}{-1/n^2} = \lim_{n\to\infty}\frac{x}{1+x/n} = x\end{aligned}$$

۲۵۸۵۵ یوں درج ذیل ہو گا۔

$$\ln a_n \to x$$

۲۵۸۵۶ حصہ 11.1 کا مسئلہ 4 بروئے کار لاتے ہوئے اور $f(x) = e^x$ لے کر درج ذیل اخذ ہو گا۔

$$\left(1+\frac{x}{n}\right)^n = a_n = e^{\ln a_n} \to e^x$$

۲۵۸۵۷ □

۲۵۸۵۸ ثبوت: **کسی بھی عدد x کے لئے $\lim_{n\to\infty}\frac{x^n}{n!} = 0$ ہو گا۔**

۲۵۸۵۹ درج ذیل جانتے ہوئے

$$-\frac{|x|^n}{n!} \le \frac{x^n}{n!} \le \frac{|x|^n}{n!}$$

۲۵۸۶۰ ہمیں صرف اتنا دکھانا ہے کہ $|x|^n/n! \to 0$ ہو گا۔ اس کے بعد ہم مسئلہ بیچ برائے ترتیبات (حصہ 11.1 میں مسئلہ 2) استعمال کر کے $x^n/n! = 0$
۲۵۸۶۱ اخذ کر سکتے ہیں۔

۲۵۸۶۲ یہ دکھانے کی خاطر کہ $|x|^n/n! \to 0$ ہے، سب سے پہلے ایسا عدد صحیح $M > |x|$ منتخب کرنا ہو گا جو $(|x|/M) < 1$ دے۔ یوں حد ۴
۲۵۸۶۳ جو ہم ثابت کر چکے کے تحت $(|x|/M)^n \to 0$ ہو گا۔ لہٰذا $n > M$ قیمتوں تک اپنی توجہ محدود رکھ کر ہم درج ذیل لکھ سکتے ہیں۔

$$\begin{aligned}\frac{|x|^n}{n!} &= \frac{|x|^n}{1\cdot 2\cdots M\cdot \underbrace{(M+1)(M+2)\cdot n}_{\text{جزو ضربی } (n-M)}}\\ &\le \frac{|x|^n}{M!M^{n-M}} = \frac{|x|^n M^M}{M!M^n} = \frac{M^M}{M!}\left(\frac{|x|}{M}\right)^n\end{aligned}$$

۲۵۸۶۴ یوں درج ذیل ہو گا۔

$$0 \le \frac{|x|^n}{n!} \le \frac{M^M}{M!}\left(\frac{|x|}{M}\right)^n$$

۲۵۸۶۵ اب جیسے جیسے n کی قیمت بڑھتی ہے مستقل $M^M/M!$ کی قیمت تبدیل نہیں ہوتی۔ یوں مسئلہ بیچ کے تحت $(|x|/M)^n \to 0$ کی وجہ سے
۲۵۸۶۶ $|x|^n/n! \to 0$ ہو گا۔

۲۵۸۶۷ □

ضمیمہ ز

جزئیتی تقسیم کا قانون برائے سمتی ضرب

اس ضمیمہ میں درج ذیل جزئیتی تقسیم کا قانون (حصہ ۱۱.۴، مساوات ۶) ثابت کیا جائے گا۔

$$\boldsymbol{A} \times (\boldsymbol{B} + \boldsymbol{C}) = \boldsymbol{A} \times \boldsymbol{B} + \boldsymbol{A} \times \boldsymbol{C} \tag{1}$$

ثبوت

مساوات اثابت کرنے کی خاطر ہم $\boldsymbol{A} \times \boldsymbol{B}$ کا خاکہ نئے انداز سے بناتے ہیں۔ ہم مشترک نقطہ O سے $\boldsymbol{A}$ اور $\boldsymbol{B}$ کھینچ کر مستوی M، نقطہ O پر $\boldsymbol{A}$ کو قائمہ، بناتے ہیں (شکل ز.۱)۔ ہم M پر $\boldsymbol{B}$ کا قائمہ تظلیل لیتے ہیں جو سمتیہ $\boldsymbol{B}'$ ہو گا، اور جس کی لمبائی $|\boldsymbol{B}| \sin\theta$ ہو گی۔ ہم $\boldsymbol{B}'$ کو $\boldsymbol{A}$ کے گرد مثبت سمت میں 90° گھما کر سمتیہ $\boldsymbol{B}''$ حاصل کرتے ہیں۔ آخر میں ہم $\boldsymbol{B}''$ کو $\boldsymbol{A}$ کی لمبائی سے ضرب دیتے ہیں۔ یوں حاصل سمتیہ $|\boldsymbol{A}|\boldsymbol{B}''$ درحقیقت $\boldsymbol{A} \times \boldsymbol{B}$ کے برابر ہو گا، چونکہ اس کی بناوٹ (شکل ز.۱) یوں کی گئی کہ $\boldsymbol{B}''$ کا رخ وہی ہو جو $\boldsymbol{A} \times \boldsymbol{B}$ کا رخ ہے اور ساتھ ہی درج ذیل بھی ہے۔

$$|\boldsymbol{A}||\boldsymbol{B}''| = |\boldsymbol{A}|\boldsymbol{B}'| = |\boldsymbol{A}||\boldsymbol{B}| \sin\theta = |\boldsymbol{A} \times \boldsymbol{B}|$$

اب درج ذیل میں سے ہر ایک عمل ایسے مثلث پر کرنے سے، جس کا مستوی $\boldsymbol{A}$ کو عمودی نہ ہو، ایک نیا مثلث پیدا ہو گا۔ اگر ہم ایسے مثلث سے شروع کریں جس کے اضلاع $\boldsymbol{B}$ ، $\boldsymbol{C}$ ، اور $\boldsymbol{B} + \boldsymbol{C}$ ہوں (شکل ز.۲) اور یہ تین اقدام لاگو کریں تو یک بعد دیگرے درج ذیل حاصل ہو گا۔

۱. ایک مثلث جس کے اضلاع $\boldsymbol{B}'$ ، $\boldsymbol{C}'$ ، اور $(\boldsymbol{B} + \boldsymbol{C})'$ ہوں گے جہاں درج ذیل سمتی مساوات مطمئن ہو گی۔

$$\boldsymbol{B}' + \boldsymbol{C}' = (\boldsymbol{B} + \boldsymbol{C})'$$

۲. ایک مثلث جس کے اضلاع $\boldsymbol{B}''$ ، $\boldsymbol{C}''$ ، اور $(\boldsymbol{B} + \boldsymbol{C})''$ ہوں گے جہاں درج ذیل سمتی مساوات مطمئن ہو گی۔

$$\boldsymbol{B}'' + \boldsymbol{C}'' = (\boldsymbol{B} + \boldsymbol{C})''$$

(جہاں سمتیات وہی ہیں جو شکل ز.۱ میں دکھائے گئے ہیں۔)

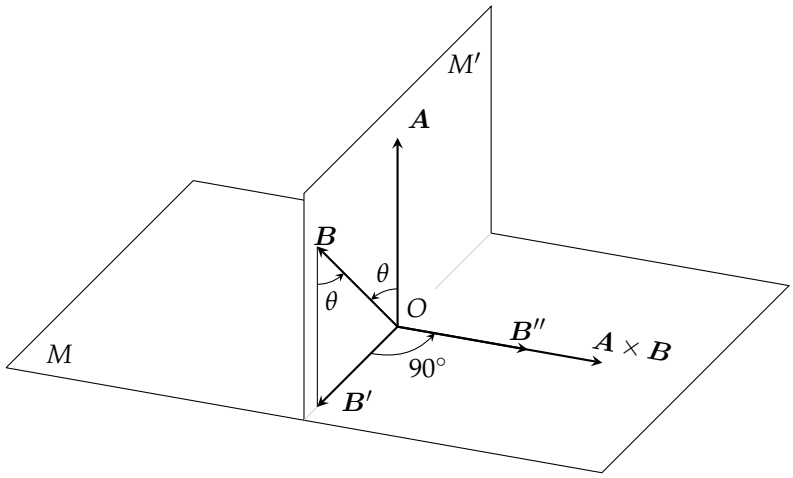

شکل ز.۱: $\boldsymbol{A}\times\boldsymbol{B}=|\boldsymbol{A}|\boldsymbol{B}''$ ہوگا۔

۲۵۸۸۲ ۳. ایک مثلث جس کے اضلاع $|\boldsymbol{A}|\boldsymbol{B}''$ ، $|\boldsymbol{A}|\boldsymbol{C}''$ ،اور $|\boldsymbol{A}|(\boldsymbol{B}+\boldsymbol{C})''$ ہوں گے جہاں درج ذیل سمتی مساوات مطمئن ہو گی۔

$$|\boldsymbol{A}|\boldsymbol{B}''+|\boldsymbol{A}|\boldsymbol{C}''=|\boldsymbol{A}|(\boldsymbol{B}+\boldsymbol{C})'' \tag{۲}$$

۲۵۸۸۳ اب $|\boldsymbol{A}|\boldsymbol{B}''=\boldsymbol{A}\times\boldsymbol{B}$ ، $|\boldsymbol{A}|\boldsymbol{C}''=\boldsymbol{A}\times\boldsymbol{C}$ ،اور $|\boldsymbol{A}|(\boldsymbol{B}+\boldsymbol{C})''=\boldsymbol{A}\times(\boldsymbol{B}+\boldsymbol{C})$ ڈالنے سے
۲۵۸۸۴ مساوات ۲ درج ذیل دے گی

$$\boldsymbol{A}\times\boldsymbol{B}+\boldsymbol{A}\times\boldsymbol{C}=\boldsymbol{A}\times(\boldsymbol{B}+\boldsymbol{C})$$

۲۵۸۸۵ جو وہ قانون ہے جس کا ثبوت درکار تھا۔

۲۵۸۸۶ □

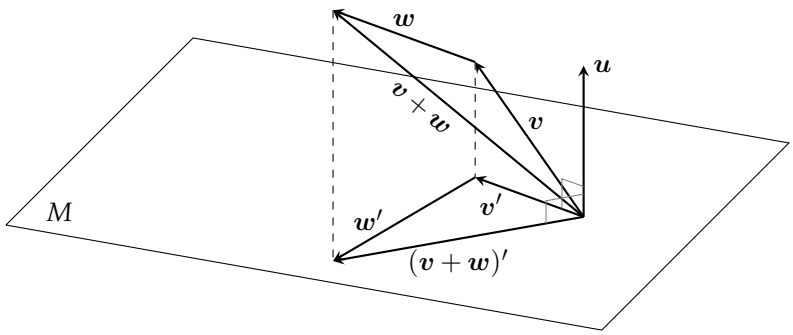

شکل ز.۲: سمتیات $\boldsymbol{v}$ ، $\boldsymbol{w}$ ، $\boldsymbol{v}+\boldsymbol{w}$ ،اور $\boldsymbol{u}$ کے عمودی مستوی پر ان کے تظلیل۔

ضمیمہ ح

مقاطع اور کریمر کا قاعدہ

اعداد کی مستطیل ترتیب:

$$A = \begin{bmatrix} 2 & 1 & 3 \\ 1 & 0 & -2 \end{bmatrix}$$

قالب[1] کہلاتا ہے۔اس قالب میں دو صف اور تین قطار ہیں لہٰذا ہم A کو ۲ با ۳ قالب یا ۲ ضرب ۳ قالب کہتے ہیں۔ایک m با n قالب میں m صف اور n قطار ہوں گے،اور قالب کی i ویں صف اور j ویں قطار میں موجود **رکن**[2] (عدد) a_{ij} سے ظاہر کیا جائے گا۔یوں درج ذیل قالب

$$A = \begin{bmatrix} 2 & 1 & 3 \\ 1 & 0 & -2 \end{bmatrix}$$

کے ارکان درج ذیل لکھے جائیں گے۔

$$\begin{aligned} a_{11} &= 2, \quad a_{12} = 1, \quad a_{13} = 3, \\ a_{21} &= 1, \quad a_{22} = 0, \quad a_{23} = -2 \end{aligned}$$

جس قالب میں صفوں اور قطاروں کی تعداد برابر ہو **مکعب قالب**[3] کہلاتا ہے۔مکعب قالب جس میں صفوں کی تعداد اور قطاروں کی تعداد n ہو n **رتبی قالب**[4] کہلاتا ہے۔

---

[1] matrix
[2] element
[3] squarematrix
[4] matrixofordern

ہر مکعب قالب A کے ساتھ ایک عدد وابستہ کیا جاتا ہے جو A کا **مقطع**[5] کہلاتا اور "مقطع A" یا $|a_{ij}|$ سے ظاہر کیا جاتا ہے (یہاں $|\ |$ کی علامت مطلق قیمت کو ظاہر نہیں کرتی)۔ مقطع کی قیمت قالب A کے ارکان سے درج ذیل عمل کے ذریعہ حاصل کیا جاتا ہے۔ یک رتبی $n = 1$ قالب اور دو رتبی قالب $n = 2$ کے مقطع کی تعریف درج ذیل ہے۔

$$\text{مقطع}\,[a] = a \tag{۱}$$

$$\text{مقطع}\begin{bmatrix} a_{11} & a_{12} \\ a_{21} & a_{22} \end{bmatrix} = a_{11}a_{22} - a_{21}a_{12} \tag{۲}$$

تین رتبی قالب کے مقطع کی تعریف درج ذیل ہے

$$\text{مقطع}\,A = \text{مقطع}\begin{bmatrix} a_{11} & a_{12} & a_{13} \\ a_{21} & a_{22} & a_{23} \\ a_{31} & a_{32} & a_{33} \end{bmatrix} = \begin{array}{c}\text{روپ کے تمام } \pm a_{1i}a_{2j}a_{3k} \\ \text{علامت دار حاصل ضرب کا مجموعہ}\end{array} \tag{۳}$$

جہاں i ، j ، k سے مراد 1 ، 2 ، 3 کی کسی ترتیب سے مرتب اجتماع ہے۔ ایسے $3! = 6$ مرتب اجتماعات ہیں لہٰذا مجموعے میں چھ جزو ہوں گے۔ جب مرتب اجتماعات کا اشاریہ جفت ہو، علامت مثبت ہو گی اور جب طاق ہو علامت منفی ہو گی۔

تعریف: **مرتب اجتماع کا اشاریہ**

اعداد $1, 2, 3, \cdots, n$ کی دی گئی مرتب اجتماع کو $i_1, i_2, i_3, \cdots, i_n$ سے ظاہر کریں۔ اس نظم میں i_1 کے بعد آنے والے چند اعداد i_1 سے چھوٹے ہو سکتے ہیں۔ ایسے اعداد کی تعداد کو نظم میں i_1 سے متعلق **تعکیس کی تعداد**[6] کہتے ہیں۔ اسی طرح نظم میں تمام دیگر i سے متعلق تعکیس کی تعداد ہو گی، جو نظم میں اس مخصوص i کے بعد ان اعداد کی تعداد ہو گی جو اس مخصوص عدد سے چھوٹے ہوں۔ تمام اشاریوں کے تعکیس کی تعداد کا مجموعہ مرتب اجتماع کا **اشاریہ**[7] کہلاتا ہے۔

□

مثال ح.۱: عدد $n = 5$ کی ایک مرتب اجتماع ذیل ہے

$$5 \quad 3 \quad 1 \quad 2 \quad 2$$

جس میں پہلا رکن 5 ہے جس کے بعد آنے والے چاروں ارکان اس سے چھوٹے ہیں لہٰذا 5 سے متعلق تعکیس کی تعداد 4 ہے؛ دوسرا رکن 3 ہے اور اس کے بعد آنے والے دو ارکان اس سے چھوٹے ہیں لہٰذا 3 سے متعلق تعکیس کی تعداد 2 ہے؛ اگلا رکن 1 ہے جس کے بعد ایسا کوئی رکن نہیں آتا جو ایک سے چھوٹا ہو لہٰذا 1 سے متعلق تعکیس کی تعداد 0 ہے؛ اگلے دونوں ارکان سے متعلق انفرادی تعکیس کی تعداد 0 ہے؛ یوں اشاریہ $4 + 2 = 6$ ہو گا۔ □

---

[5] determinant
[6] numberofinversions
[7] index

۲۵۹۱۱ اگلا جدول 1, 2, 3 کی مرتب اجتماعات، ہر مرتب اجتماع کا اشاریہ، اور مساوات ۳ کے مقطع میں علامت دار حاصل ضرب دیتا ہے۔

(۴)

علامت دار حاصل ضرب	اشاریہ	مرتب اجتماع		
$+a_{11}a_{22}a_{33}$	0	1	2	3
$-a_{11}a_{23}a_{32}$	1	1	3	2
$-a_{12}a_{21}a_{33}$	1	2	1	3
$+a_{12}a_{23}a_{31}$	2	2	3	1
$+a_{13}a_{21}a_{32}$	2	3	1	2
$-a_{13}a_{22}a_{31}$	3	3	2	1

۲۵۹۱۲ ان چھ حاصل ضرب کا مجموعہ ذیل ہو گا۔

$$
\begin{aligned}
a_{11}(a_{22}a_{33}-a_{23}a_{32})-a_{12}(a_{21}a_{33}-a_{23}a_{31})+a_{13}(a_{21}a_{32}-a_{22}a_{31})\\
&= a_{11}\begin{vmatrix} a_{22} & a_{23} \\ a_{32} & a_{33} \end{vmatrix} - a_{12}\begin{vmatrix} a_{21} & a_{23} \\ a_{31} & a_{33} \end{vmatrix} + a_{13}\begin{vmatrix} a_{21} & a_{22} \\ a_{31} & a_{32} \end{vmatrix} \\
&= \begin{vmatrix} a_{11} & a_{12} & a_{13} \\ a_{21} & a_{22} & a_{23} \\ a_{31} & a_{32} & a_{33} \end{vmatrix} \qquad (۵)
\end{aligned}
$$

۲۵۹۱۳ درج ذیل کلیہ 3 با 3 مقطع کے حساب کو تین عدد 2 با 2 مقطع کے حساب میں تبدیل کرتا ہے۔

$$
\begin{vmatrix} a_{11} & a_{12} & a_{13} \\ a_{21} & a_{22} & a_{23} \\ a_{31} & a_{32} & a_{33} \end{vmatrix} = a_{11}\begin{vmatrix} a_{22} & a_{23} \\ a_{32} & a_{33} \end{vmatrix} - a_{12}\begin{vmatrix} a_{21} & a_{23} \\ a_{31} & a_{33} \end{vmatrix} + a_{13}\begin{vmatrix} a_{21} & a_{22} \\ a_{31} & a_{32} \end{vmatrix} \qquad (۶)
$$

۲۵۹۱۴ بعض حضرات 3 با 3 قالب کے مقطع میں پائے جانے والے چھ حاصل ضرب کو درج ذیل طریقہ کار سے معلوم کرنے کو ترجیح دیتے ہیں۔

(۷)

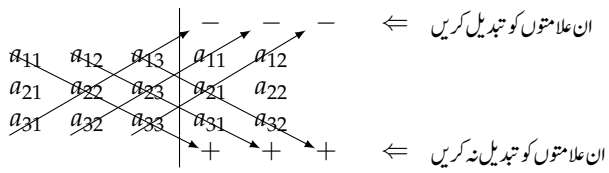

۲۵۹۱۵

اصاغر اور ہمزاد اجزائے ضربی

مساوات ۶ کے دائیں ہاتھ دور تبی مقاطع کو ان ارکان کے **اصاغر**[۸] (صغیر مقطع کی مختصر اصطلاح) کہتے ہیں جن سے انہیں ضرب کیا گیا ہے۔ یوں

$$a_{11} \text{ کا اصغر } \begin{vmatrix} a_{22} & a_{23} \\ a_{32} & a_{33} \end{vmatrix} \quad \text{اور} \quad a_{12} \text{ کا اصغر } \begin{vmatrix} a_{21} & a_{23} \\ a_{31} & a_{33} \end{vmatrix}$$

ہو گا، وغیرہ۔ قالب A سے وہ صف اور قطار خارج کرنے کے بعد، جس میں رکن a_{ij} پایا جاتا ہو، حاصل قالب کا مقطع a_{ij} کا اصغر ہو گا۔

$$a_{22} \text{ کا اصغر } \begin{vmatrix} a_{11} & a_{13} \\ a_{31} & a_{33} \end{vmatrix} \text{ سے } \begin{vmatrix} a_{11} & a_{12} & a_{13} \\ a_{21} & a_{22} & a_{23} \\ a_{31} & a_{32} & a_{33} \end{vmatrix}$$

حاصل ہوتا ہے۔

$$a_{23} \text{ کا اصغر } \begin{vmatrix} a_{11} & a_{12} \\ a_{31} & a_{32} \end{vmatrix} \text{ سے } \begin{vmatrix} a_{11} & a_{12} & a_{13} \\ a_{21} & a_{22} & a_{23} \\ a_{31} & a_{32} & a_{33} \end{vmatrix}$$

حاصل ہوتا ہے۔

رکن a_{ij} کا ہمزاد جزو ضربی A_{ij} حاصل کرنے کے لئے a_{ij} کے اصغر کو $(-1)^{i+j}$ سے ضرب دیں۔ یوں درج ذیل ہوں گے۔

$$A_{22} = (-1)^{2+2} \begin{vmatrix} a_{11} & a_{13} \\ a_{31} & a_{33} \end{vmatrix} = \begin{vmatrix} a_{11} & a_{13} \\ a_{31} & a_{33} \end{vmatrix}$$

$$A_{23} = (-1)^{2+3} \begin{vmatrix} a_{11} & a_{12} \\ a_{31} & a_{32} \end{vmatrix} = - \begin{vmatrix} a_{11} & a_{12} \\ a_{31} & a_{32} \end{vmatrix}$$

جزو ضربی $(-1)^{i+j}$ اصغر کی علامت اس صورت تبدیل کرتا ہے جب $i+j$ طاق ہو۔ درج ذیل نقشہ اس کی وضاحت کرتا ہے۔

$$\begin{matrix} + & - & + \\ - & + & - \\ + & - & + \end{matrix}$$

اوپر بائیں کونے میں $i = 1$ ، $j = 1$ ہے لہٰذا $(-1)^{1+1} = +1$ ہے۔ اسی صف یا اسی قطار میں رہتے ہوئے اگلے خانے میں i یا j کی قیمت بڑھ کر 2 ہو جاتی ہے، تاہم i اور j دونوں کی قیمت تبدیل نہیں ہوتی، اور یوں $(-1)^{1+2} = -1$ حاصل ہو گا۔ آپ دیکھ سکتے ہیں کہ کسی ایک صف یا کسی ایک قطار میں رہ کر چلتے ہوئے ہر قدم پر علامت $+$ سے $-$ یا $-$ سے $+$ ہو گی۔

ہم مساوات ۶ کو ہمزاد اجزائے ضربی کے روپ میں درج لکھ سکتے ہیں۔

$$A \text{ مقطع } = a_{11}A_{11} + a_{12}A_{12} + a_{13}A_{13} \tag{۸}$$

---

[۸] minors

۲۵۹۲۸ مثال ح.۲: درج ذیل قالب کا مقطع تلاش کریں۔

$$A = \begin{bmatrix} 2 & 1 & 3 \\ 3 & -1 & -2 \\ 2 & 3 & 1 \end{bmatrix}$$

۲۵۹۲۹ **حل 1:** ہمزاد اجزائے ضربی حاصل کرتے ہیں۔

$$A_{11} = (-1)^{1+1} \begin{vmatrix} -1 & -2 \\ 3 & 1 \end{vmatrix}, \quad A_{12} = (-1)^{1+2} \begin{vmatrix} 3 & -2 \\ 2 & 1 \end{vmatrix},$$

$$A_{13} = (-1)^{1+3} \begin{vmatrix} 3 & -1 \\ 2 & 3 \end{vmatrix}$$

۲۵۹۳۰ مقطع A معلوم کرنے کے لئے A کی پہلی صف کا ہر رکن اپنے ہمزاد جزو ضربی سے ضرب کر کے مجموعہ لیتے ہیں۔

$$\text{مقطع } A = 2 \begin{vmatrix} -1 & -2 \\ 3 & 1 \end{vmatrix} + (-1) \begin{vmatrix} 3 & -2 \\ 2 & 1 \end{vmatrix} + 3 \begin{vmatrix} 3 & -1 \\ 2 & 3 \end{vmatrix}$$

$$= 2(-1+6) - 1(3+4) + 3(9+2) = 10 - 7 + 33 = 36$$

۲۵۹۳۱ **حل 2:** ہم مساوات ۷ سے درج ذیل لکھتے ہیں۔

$$\begin{array}{ccc|cc} & & & -6 & -12 \quad 3 \\ 2 & 1 & 3 & 2 & 1 \\ 3 & -1 & -2 & 3 & -1 \\ 2 & 3 & 1 & 2 & 3 \\ & & & -2 & -4 \quad 27 \end{array}$$

ان علامتوں کو تبدیل کریں $\Leftarrow$

۲۵۹۳۲ ان علامتوں کو تبدیل نہ کریں $\Leftarrow$

۲۵۹۳۳ $$\text{مقطع } A = -(-6) - (-12) - 3 + (-2) + (-4) + 27 = 36$$

۲۵۹۳۴ □

۲۵۹۳۵ **دیگر قطار یا دیگر صف پر پھیلانا**

۲۵۹۳۶ مکعب قالب کا مقطع کسی بھی صف یا قطار کے ہمزاد اجزائے ضربی سے تلاش کیا جا سکتا ہے۔

۲۵۹۳۷ ہم مثال ح.۲ میں مقطع کو تیسرے قطار کے ہمزاد اجزائے ضربی سے حاصل کر سکتے تھے۔ یہ عمل درج ذیل ہے۔

$$+3 \begin{vmatrix} 3 & -1 \\ 2 & 3 \end{vmatrix} - (-2) \begin{vmatrix} 2 & 1 \\ 2 & 3 \end{vmatrix} + 1 \begin{vmatrix} 2 & 1 \\ 3 & -1 \end{vmatrix}$$

$$= 3(9+2) + 2(6-2) + 1(-2-3) = 33 + 8 - 5 = 36$$

مقطع کے مفید حقائق

حقیقت 1: اگر دو صف (یا دو قطار) یکساں ہوں، مقطع صفر ہو گا۔

حقیقت 2: دو صف (یا دو قطار) آپس میں بدلنے سے مقطع کی علامت تبدیل ہو گی۔

حقیقت 3: ایک صف دوسری صف کے ساتھ جمع کرنے یا اس سے منفی کرنے سے مقطع تبدیل نہیں ہوتا۔ اسی طرح ایک قطار دوسری قطار کے ساتھ جمع کرنے یا اس سے منفی کرنے سے مقطع کی قیمت تبدیل نہیں ہوتی۔

ہم مثال ح. ۲ کے قالب میں دو صف آپس میں تبدیل کر کے مقطع تلاش کر کے دیکھتے ہیں۔

$$\begin{array}{ccc|ccc} & & & 27 & -2 & -4 \\ 2 & 1 & 3 & 2 & 1 & \\ 2 & 3 & 1 & 2 & 3 & \\ 3 & -1 & -2 & 3 & -1 & \\ & & & -12 & 3 & -6 \end{array}$$

$$-(27)-(-2)-(-4)+(-12)+(3)+(-6)=-36$$

آپ نے دیکھا کہ مقطع کی علامت تبدیل ہوئی۔

مثال ح. ۳: چہ رتبی مقطع تلاش کریں۔

$$D=\begin{vmatrix} 1 & -2 & 3 & 1 \\ 2 & 1 & 0 & 2 \\ -1 & 2 & 1 & -2 \\ 0 & 1 & 2 & 1 \end{vmatrix}$$

حل: ہم پہلی صف کو دو سے ضرب دے کر دوسری صف سے منفی کرتے ہیں، اور پہلی صف کو تیسری صف کے ساتھ جمع کرتے ہیں۔

$$D=\begin{vmatrix} 1 & -2 & 3 & 1 \\ 0 & 5 & -6 & 0 \\ 0 & 0 & 4 & -1 \\ 0 & 1 & 2 & 1 \end{vmatrix}$$

ہم اب پہلی قطار کے ارکین کو ہمزاد اجزائے ضربی سے ضرب دے کر مقطع حاصل کرتے ہیں۔

$$D=\begin{vmatrix} 5 & -6 & 0 \\ 0 & 4 & -1 \\ 1 & 2 & 1 \end{vmatrix}=5(4+2)-(-6)(0+1)+0=36$$

□

۲۵۹۵۰ **کریمر کا قاعدہ**

۲۵۹۵۱ اگر نظام

$$\begin{aligned} a_{11}x + a_{12}y &= b_1 \\ a_{21}x + a_{22}y &= b_2 \end{aligned} \tag{۹}$$

۲۵۹۵۲ کا مقطع صفر ہو

$$D = A \text{ مقطع } = \begin{vmatrix} a_{11} & a_{12} \\ a_{21} & a_{22} \end{vmatrix} = 0$$

۲۵۹۵۳ تب نظام کا یا کوئی حل موجود نہیں ہو گا اور یا اس کے لا متناہی حل موجود ہوں گے۔ درج ذیل نظام

$$\begin{aligned} x + y &= 0 \\ 2x + 2y &= 0 \end{aligned}$$

۲۵۹۵۴ جس کا مقطع صفر ہے

$$D = \begin{vmatrix} 1 & 1 \\ 2 & 2 \end{vmatrix} = 2 - 2 = 0$$

۲۵۹۵۵ کے لا متناہی حل موجود ہیں۔ ہم کسی بھی دیے گئے y کے لئے مطابقتی x تلاش کر سکتے ہیں۔ درج ذیل نظام

$$\begin{aligned} x + y &= 0 \\ 2x + 2y &= 2 \end{aligned}$$

۲۵۹۵۶ کا کوئی حل موجود نہیں۔ اگر $x + y = 0$ ہو تب $2x + 2y = 2(x + y)$ کسی صورت 2 کے برابر نہیں ہو سکتا۔

۲۵۹۵۷ **سوالات**

۲۵۹۵۸

۲۵۹۵۹ **مقطع کی قیمت تلاش کریں**

۲۵۹۶۰ درج ذیل مقطع تلاش کریں۔

۲۵۹۶۱ سوال ح.ا: $\begin{vmatrix} 2 & 3 & 1 \\ 4 & 5 & 2 \\ 1 & 2 & 3 \end{vmatrix}$

۲۵۹۶۲ سوال ح.۲:
$$\begin{vmatrix} 2 & -1 & -2 \\ -1 & 2 & 1 \\ 3 & 0 & -3 \end{vmatrix}$$

۲۵۹۶۳ سوال ح.۳:
$$\begin{vmatrix} 1 & 2 & 3 & 4 \\ 0 & 1 & 2 & 3 \\ 0 & 0 & 2 & 1 \\ 0 & 0 & 3 & 2 \end{vmatrix}$$

۲۵۹۶۴ سوال ح.۴:
$$\begin{vmatrix} 1 & -1 & 2 & 3 \\ 2 & 1 & 2 & 6 \\ 1 & 0 & 2 & 3 \\ -2 & 2 & 0 & -5 \end{vmatrix}$$

۲۵۹۶۵

۲۵۹۶۶ درج ذیل مقطع (ا) تیسری صف اور (ب) دوسری قطار کے ہمزاد اجزائے ضربی سے تلاش کریں۔

۲۵۹۶۷ سوال ح.۵:
$$\begin{vmatrix} 2 & -1 & 2 \\ 1 & 0 & 3 \\ 0 & 2 & 1 \end{vmatrix}$$

۲۵۹۶۸ سوال ح.۶:
$$\begin{vmatrix} 1 & 0 & -1 \\ 0 & 2 & -2 \\ 2 & 0 & 1 \end{vmatrix}$$

۲۵۹۶۹ سوال ح.۷:
$$\begin{vmatrix} 1 & 1 & 0 & 0 \\ 0 & 0 & -2 & 1 \\ 0 & -1 & 0 & 7 \\ 3 & 0 & 2 & 1 \end{vmatrix}$$

۲۵۹۷۰ سوال ح.۸:
$$\begin{vmatrix} 0 & 1 & 0 & 0 \\ 0 & 1 & 1 & 0 \\ 1 & 1 & 1 & 1 \\ 1 & 1 & 0 & 0 \end{vmatrix}$$

۲۵۹۷۱

۲۵۹۷۲ **نظام کی مساوات**

۲۵۹۷۳ کریمر کا قاعدہ استعمال کر کے درج ذیل نظام کی مساوات حل کریں۔

۲۵۹۷۴ سوال ح.۹:

$$\begin{aligned} x + 8y &= 4 \\ 3x - y &= -13 \end{aligned}$$

۲۵۹۷۵ سوال ح.۱۰:

$$\begin{aligned} 2x + 3y &= 5 \\ 3x - y &= 2 \end{aligned}$$

۲۵۹۷۶ سوال ح.۱۱:

$$\begin{aligned} 4x - 3y &= 6 \\ 3x - 2y &= 5 \end{aligned}$$

۲۵۹۷۷ سوال ح.۱۲:

$$\begin{aligned} x + y + z &= 2 \\ 2x - y + z &= 0 \\ x + 2y - z &= 4 \end{aligned}$$

۲۵۹۷۸ سوال ح.۱۳:

$$\begin{aligned} 2x + y - z &= 2 \\ x - y + z &= 7 \\ 2x + 2y + z &= 4 \end{aligned}$$

۲۵۹۷۹ سوال ح.۱۴:

$$\begin{aligned} 2x - 4y \qquad &= 6 \\ x + y + z &= 1 \\ 5y + 7z &= 10 \end{aligned}$$

۲۵۹۸۰ سوال ح.۱۵:

$$\begin{aligned} x \qquad - z &= 3 \\ 2y - 2z &= 2 \\ 2x \qquad + z &= 3 \end{aligned}$$

۲۵۹۸۱ سوال ح.۱۶:

$$\begin{aligned} x_1 + x_2 - x_3 + x_4 &= 2 \\ x_1 - x_2 + x_3 + x_4 &= -1 \\ x_1 + x_2 + x_3 - x_4 &= 2 \\ x_1 \qquad + x_3 + x_4 &= -1 \end{aligned}$$

۲۵۹۸۲

۲۵۹۸۳ **نظریہ اور مثال**

۲۵۹۸۴ سوال ح.۱۷: درج ذیل نظام کے لئے h اور k کی ایسی قیمتیں تلاش کریں کہ نظام (ا) کے حلول کی تعداد لا متناہی ہو، (ب) کا کوئی حل نہ ہو۔

$$\begin{aligned} 2x + hy &= 8 \\ x + 3y &= k \end{aligned}$$

۲۵۹۸۵ سوال ح.۱۸: متغیر x کی کس قیمت پر درج ذیل ہو گا۔

$$\begin{vmatrix} x & x & 1 \\ 2 & 0 & 5 \\ 6 & 7 & 1 \end{vmatrix} = 0$$

۲۵۹۸۶ سوال ح.۱۹: فرض کریں u ، v ، اور w متغیر x کے تفاعل اور دو مرتبہ قابل تفرق ہیں، اور $au + bv + cw = 0$ کو مطمئن کرتے
۲۵۹۸۷ ہیں، جہاں a ، b ، اور c مستقل ہیں جو ایک ساتھ صفر نہیں ہو سکتے۔ درج ذیل دکھائیں۔

$$\begin{vmatrix} u & v & w \\ u' & v' & w' \\ u'' & v'' & w'' \end{vmatrix} = 0$$

۲۵۹۸۸ سوال ح.۲۰: جزوی کسر درج ذیل حاصل تقسیم

$$\frac{ax + b}{(x - r_1)(x - r_2)}$$

۲۵۹۸۹ کا جزوی کسری پھیلاؤ تلاش کرنا C اور D کی ایسی قیمت تلاش کرنے کے مترادف ہے کہ تمام x کے لئے درج ذیل مطمئن ہو۔

$$\frac{ax + b}{(x - r_1)(x - r_2)} = \frac{C}{x - r_1} + \frac{D}{x - r_2}$$

۲۵۹۹۰ ا. خطی مساوات کا ایسا نظام تلاش کریں جس سے C اور D کی قیمتیں حاصل ہوں۔

۲۵۹۹۱ ب. کن شرائط کے تحت جزو(ا) میں نظام کا حل یکتا ہو گا؟ یعنی نظام کے عددی سروں کے قالب کا مقطع کب صفر نہیں ہو گا؟

۲۵۹۹۲

۲۵۹۹۳

ضمیمہ ط

مسئلہ یولر اور مسئلہ بڑھوتری

اس ضمیمہ میں مسئلہ یولر (حصہ 12.3، مسئلہ 2) اور دو متغیرات کا مسئلہ بڑھوتری (حصہ 12.4، مسئلہ 3) اخذ کیے جائیں گے۔ یولر نے ۱۷۳۴ء میں مسئلہ بیان کیا۔

مسئلہ یولر

اگر $f(x,y)$ اور اس کے جزوی تفرق f_x ، f_y ، f_{xy} اور f_{yx} ایک ایسے پورے کھلے خطے میں معین ہوں جس میں نقطہ (a,b) پایا جاتا ہو اور (a,b) پر f ، f_x ، f_y ، f_{xy} اور f_{yx} استمراری ہوں تب $f_{xy}(a,b) = f_{yx}(a,b)$ ہو گا۔

ثبوت: اوسط قیمت مسئلے (حصہ 3.2، مسئلہ 4) کو چار مرتبہ لاگو کر کے $f_{xy}(a,b)$ اور $f_{yx}(a,b)$ کی برابری ثابت کی جا سکتی ہے۔ فرض کریں مستوی xy میں مستطیل R کے اندرون میں نقطہ (a,b) پایا جاتا ہے اور مستطیل R میں f ، f_x ، f_y ، f_{xy} ، اور f_{yx} معین ہیں۔ ہم ایسے اعداد h اور k لیتے ہیں کہ نقطہ $(a+h, b+k)$ بھی مستطیل R میں پایا جاتا ہو، اور درج ذیل فرق پر غور کرتے ہیں

$$\Delta = F(a+h) - F(a) \tag{۱}$$

جہاں درج ذیل مراد ہے۔

$$F(x) = f(x, b+k) - f(x, b) \tag{۲}$$

ہم اوسط قیمت مسئلے کا اطلاق F پر کرتے ہیں (جو قابل تفرق ہونے کی وجہ سے استمراری ہے)۔ یوں مساوات ادرج ذیل روپ اختیار کرتی ہے

$$\Delta = hF'(c_1) \tag{۳}$$

جہاں c_1 اعداد a اور $a+h$ کے بیچ ہو گا۔ مساوات ۲ سے

$$F'(x) = f_x(x, b+k) - f_x(x, b)$$

۲۶۰۰۸ لکھا جا سکتا ہے لہٰذا مساوات ۳ درج ذیل روپ اختیار کرتی ہے۔

$$\Delta = h[f_x(c_1, b+k) - f_x(c_1, b)] \tag{۴}$$

۲۶۰۰۹ اب ہم اوسط قیمت مسئلے کا اطلاق $g(y) = f_x(c_1, y)$ پر کر کے

$$g(b+k) - g(b) = kg'(d_1)$$

۲۶۰۱۰ یا

$$f_x(c_1, b+k) - f_x(c_1, b) = kf_{xy}(c_1, d_1)$$

۲۶۰۱۱ حاصل کرتے ہیں جہاں d_1 اعداد b اور $b+k$ کے بیچ ہو گا۔ اس کو مساوات ۴ میں ڈال کر درج ذیل حاصل ہو گا

$$\Delta = hkf_{xy}(c_1, d_1) \tag{۵}$$

۲۶۰۱۲ جہاں (c_1, d_1) مستطیل R' میں، جس کے راس (a, b) ، $(a+h, b)$ ، $(a+h, b+k)$ ، اور $(a, b+k)$ ہیں، کوئی نقطہ
۲۶۰۱۳ ہے (شکل A13 دیکھیں)۔

۲۶۰۱۴ مساوات ۲ سے مساوات ۱ میں پُر کرنے سے ذیل حاصل ہو گا

$$\begin{aligned}\Delta &= f(a+h, b+k) - f(a+h, b) - f(a, b+k) + f(a, b)\\ &= [f(a+h, b+k) - f(a, b+k)] - [f(a+h, b) - f(a, b)]\\ &= \phi(b+k) - \phi(b)\end{aligned} \tag{۶}$$

۲۶۰۱۵ جہاں ϕ سے مراد ذیل ہے۔

$$\phi(y) = f(a+h, y) - f(a, y) \tag{۷}$$

۲۶۰۱۶ اوسط قیمت مسئلے کا اطلاق مساوات ۶ پر کر کے ذیل حاصل ہو گا

$$\Delta = k\phi'(d_2) \tag{۸}$$

۲۶۰۱۷ جہاں d_2 اعداد b اور $b+k$ کے بیچ ہو گا۔ مساوات ۷ سے ذیل ہو گا۔

$$\phi'(y) = f_y(a+h, y) - f_y(a, y) \tag{۹}$$

۲۶۰۱۸ مساوات ۹ سے مساوات ۸ میں پُر کر کے ذیل ملتا ہے۔

$$\Delta = k[f_y(a+h, d_2) - f_y(a, d_2)]$$

۲۶۰۱۹ آخر میں ہم اوسط قیمت مسئلے کا اطلاق قوسین میں بند عبارت پر کر کے ذیل حاصل کرتے ہیں

$$\Delta = hkf_{yx}(c_2, d_2) \tag{۱۰}$$

جہاں c_2 اعداد a اور $a+h$ کے بیچ ہوگا۔

مساوات ۵ اور مساوات ۱۰ مل کر درج ذیل دیتی ہیں

$$f_{xy}(c_1, d_1) = f_{yx}(c_2, d_2) \tag{11}$$

جہاں (c_1, d_1) اور (c_2, d_2) دونوں مستطیل R' (شکل A13) میں پائے جاتے ہیں۔ مساوات ۱۱ کہتی ہے کہ f_{xy} کی (c_1, d_1) پر قیمت f_{yx} کی (c_2, d_2) پر قیمت کے برابر ہے۔ اگرچہ بظاہر یہ وہ نتیجہ نہیں جو ہم چاہتے ہیں تاہم اعداد h اور k کو ہم جتنا چاہیں چھوٹا کر سکتے ہیں۔ چونکہ (a, b) پر f_{xy} اور f_{yx} دونوں استمراری ہیں لہٰذا $f_{xy}(c_1, d_1) = f_{xy}(a, b) + \epsilon_1$ اور $f_{yx}(c_2, d_2) = f_{yx}(a, b) + \epsilon_2$ ہوں گے جہاں $h \to 0$ اور $k \to 0$ کرنے سے $\epsilon_1 \to 0$ اور $\epsilon_2 \to 0$ ہوگا۔ یوں $h \to 0$ اور $k \to 0$ کرنے سے $f_{xy}(a, b) = f_{yx}(a, b)$ ہوگا۔

□

ہم $f_{xy}(a, b)$ اور $f_{yx}(a, b)$ کی برابری کا ثبوت کمزور قیاس کرتے ہوئے دے سکتے ہیں۔ مثال کے طور پر، اتنا کافی ہے کہ f ، f_x ، اور f_y مستطیل R میں موجود ہوں اور (a, b) پر f_{xy} استمراری ہو۔ ایسی صورت میں (a, b) پر f_{yx} موجود ہوگا اور اس نقطے پر f_{xy} کے برابر ہوگا۔

دو متغیرات کے تفاعلات کا مسئلہ بڑھوتری

فرض کریں پورے کھلے خطہ R میں، جس میں نقطہ (x_0, y_0) پایا جاتا ہے، $z = f(x, y)$ کے یک رتبی جزوی تفرق معین ہیں، اور نقطہ (x_0, y_0) پر f_x اور f_y استمراری ہیں۔ ایسی صورت میں R میں رہ کر نقطہ (x_0, y_0) سے $(x_0 + \Delta x, y_0 + \Delta y)$ منتقل ہونے پر f کی قیمت میں تبدیلی $\Delta z = f(x_0 + \Delta x, y_0 + \Delta y) - f(x_0, y_0)$ درج ذیل روپ کی مساوات مطمئن کرتی ہے

$$\Delta z = f_x(x_0, y_0)\Delta x + f_y(x_0, y_0)\Delta y + \epsilon_1 \Delta x + \epsilon_2 \Delta y$$

جہاں $\Delta x \to 0$ ، $\Delta y \to 0$ کرنے سے $\epsilon_1 \to 0$ ، $\epsilon_2 \to 0$ ہوگا۔

ثبوت: ہم R کے اندر مستطیل T ، جس کا مرکز $A(x_0, y_0)$ پر ہے، استعمال کرتے ہیں، اور ہم فرض کرتے ہیں کہ Δx اور Δy کی لمبائیاں اتنی چھوٹی ہیں کہ A کو $B(x_0 + \Delta x, y_0)$ سے ملانے والا لکیری قطع اور B کو $C(x_0 + \Delta x, y_0 + \Delta y)$ سے ملانے والا لکیری قطع T کے اندر پائے جاتے ہیں (شکل A14)۔

ہم Δz کو دو بڑھوتریوں کا مجموعہ $\Delta z = \Delta z_1 + \Delta z_2$ تصور کر سکتے ہیں جہاں A سے B منتقل ہونے پر f کی قیمت میں تبدیلی درج ذیل ہے

$$\Delta z_1 = f(x_0 + \Delta x, y_0) - f(x_0, y_0)$$

اور B سے C انتقال کے دوران f کی قیمت میں تبدیلی درج ذیل ہے (شکل A15)۔

$$\Delta z_2 = f(x_0 + \Delta x, y_0 + \Delta y) - f(x_0 + \Delta x, y_0)$$

متغیر x کی قیمتوں کے اس بند وقفے پر جو x_0 کو $x_0 + \Delta x$ سے ملاتی ہیں، $F(x) = f(x, x_0)$ متغیر x کا قابل تفرق (لہٰذا استمراری) تفاعل ہوگا، اور اس تفاعل کا تفرق درج ذیل ہوگا۔

$$F'(x) = f_x(x, y_0)$$

۲۶۰۴۳ اوسط قیمت مسئلے (حصہ 3.2، مسئلہ 4) کے تحت x_0 اور $x_0 + \Delta x$ کے بیچ x کی ایک قیمت c ایسی ہو گی جس پر

$$F(x_0 + \Delta x) - F(x_0) = F'(c)\Delta x$$

۲۶۰۴۴ یعنی

$$f(x_0 + \Delta x, y_0) - f(x_0, y_0) = f_x(c, y_0)\Delta x$$

۲۶۰۴۵ یا

$$\Delta z_1 = f_x(c, y_0)\Delta x \tag{۱۲}$$

۲۶۰۴۶ مطمئن ہو گا۔

۲۶۰۴۷ اسی طرح y_0 اور $y_0 + \Delta y$ کو ملانے والے y کے بند لکیری قطع پر $G(y) = f(x_0 + \Delta x, y)$ متغیر y کا قابل تفرق (لہٰذا
۲۶۰۴۸ استمراری) تفاعل ہو گا، جس کا تفرق درج ذیل ہو گا۔

$$G'(y) = f_y(x_0 + \Delta x, y)$$

۲۶۰۴۹ یوں y_0 اور $y_0 + \Delta y$ کے بیچ y کی ایک قیمت d ایسی ہو گی جس پر

$$G(y_0 + \Delta y) - G(y_0) = G'(d)\Delta y$$

۲۶۰۵۰ یعنی

$$f(x_0 + \Delta x, y_0 + \Delta y) - f(x_0 + \Delta x, y) = f_y(x_0 + \Delta x, d)\Delta y$$

۲۶۰۵۱ یا

$$\Delta z_2 = f_y(x_0 + \Delta x, d)\Delta y \tag{۱۳}$$

۲۶۰۵۲ مطمئن ہو گا۔

۲۶۰۵۳ اب $\Delta x \to 0$ اور $\Delta y \to 0$ کرنے سے $c \to x_0$ اور $d \to y_0$ ہو گا۔ یوں، چونکہ (x_0, y_0) پر f_x اور f_y استمراری
۲۶۰۵۴ ہیں، لہٰذا $\Delta x \to 0$ اور $\Delta y \to 0$ کرنے پر درج ذیل دونوں مقادیر صفر کو پہنچتی ہیں۔

$$\begin{aligned} \epsilon_1 &= f_x(c, y_0) - f_x(x_0, y_0) \\ \epsilon_2 &= f_y(x_0 + \Delta x, d) - f_y(x_0, y_0) \end{aligned} \tag{۱۴}$$

۲۶۰۵۵ آخر میں درج ذیل ہو گا

$$\begin{aligned} \Delta z &= \Delta z_1 + \Delta z_2 \\ &= f_x(c, y_0)\Delta x + f_y(x_0 + \Delta x, d)\Delta y && \text{مساوات ۱۲ اور مساوات ۱۳ سے} \\ &= [f_x(x_0, y_0) + \epsilon_1]\Delta x + [f_y(x_0, y_0) + \epsilon_2]\Delta y && \text{مساوات ۱۴ سے} \\ &= f_x(x_0, y_0)\Delta x + f_y(x_0, y_0)\Delta y + \epsilon_1\Delta x + \epsilon_2\Delta y \end{aligned}$$

جہاں $\Delta x \to 0$ اور $\Delta y \to 0$ کرنے سے $\epsilon_1 \to 0$ اور $\epsilon_2 \to 0$ ہوں گے۔یوں ثبوت مکمل ہوا۔

$\square$

اسی طرح کے نتائج متناہی تعداد کے غیر تابع متغیرات کے ہر تفاعل کے لئے مطمئن ہوتے ہیں۔فرض کریں کھلے خطہ پر، جس میں نقطہ (x_0, y_0, z_0) پایا جاتا ہے،درج ذیل کے یک رتبی جزوی تفرق معین ہیں،

$$w = f(x, y, z)$$

اور (x_0, y_0) پر f_x ، f_y ،اور f_z استمراری ہیں۔تب درج ذیل ہوگا

$$\begin{aligned}\Delta w &= f(x_0 + \Delta x, y_0 + \Delta y, z_0 + \Delta z) - f(x_0, y_0, z_0)\\ &= f_x \Delta x + f_y \Delta y + f_z \Delta z + \epsilon_1 \Delta x + \epsilon_2 \Delta y + \epsilon_3 \Delta z\end{aligned} \tag{۱۵}$$

جہاں $\Delta x \to 0$ ، $\Delta y \to 0$ ، $\Delta z \to 0$ کرنے سے $\epsilon_1 \to 0$ ، $\epsilon_2 \to 0$ ، $\epsilon_3 \to 0$ ہوگا۔

اس کلیہ میں تفرق f_x ، f_y ، f_z نقطہ (x_0, y_0, z_0) پر حاصل کیے جائیں گے۔

مساوات ۱۵ میں پیش نتیجے کا ثبوت، Δw کو درج ذیل تین بڑھوتریوں کا مجموعہ تصور کر کے

$$\Delta w_1 = f(x_0 + \Delta x, y_0, z_0) - f(x_0, y_0, z_0) \tag{۱۶}$$

$$\Delta w_2 = f(x_0 + \Delta x, y_0 + \Delta y, z_0) - f(x_0 + \Delta x, y_0, z_0) \tag{۱۷}$$

$$\Delta w_3 = f(x_0 + \Delta x, y_0 + \Delta y, z_0 + \Delta z) - f(x_0 + \Delta x, y_0 + \Delta y, z_0) \tag{۱۸}$$

ہر ایک پر علیحدہ علیحدہ اوسط قیمت مسئلے کے اطلاق سے حاصل ہوگا۔ ہر ایک جزوی بڑھوتری Δw_1 ، Δw_2 ، Δw_3 میں دو محدد مستقل جبکہ ایک متغیر رہے۔مثال کے طور پر، مساوات ۱۷ میں y متغیر ہے جبکہ x کی قیمت مستقلاً $x_0 + \Delta x$ اور z کی قیمت مستقلاً $z_0 + \Delta z$ رہتی ہے۔چونکہ $f(x_0 + \Delta x, y, z_0)$ متغیر y کا استمراری تفاعل ہے اور اس کا تفرق f_y ہے لہٰذا اس پر مسئلہ اوسط قیمت کا اطلاق ہوگا،اور یوں y_0 اور $y_0 + \Delta y$ کے بیچ کسی نقطہ y_1 پر درج ذیل ہوگا۔

$$\Delta w_2 = f_y(x_0 + \Delta x, y_1, z_0)\Delta y$$

ضمیمہ ي

تکملات کا مختصر جدول

$$\int u\,\mathrm{d}v = uv - \int v\,\mathrm{d}u \tag{۱}$$

$$\int a^u\,\mathrm{d}u = \frac{a^u}{\ln a} + C, \quad a \neq 1, \quad a > 0 \tag{۲}$$

$$\int \cos u\,\mathrm{d}u = \sin u + C \tag{۳}$$

$$\int \sin u\,\mathrm{d}u = -\cos u + C \tag{۴}$$

$$\int (ax+b)^n\,\mathrm{d}x = \frac{(ax+b)^{n+1}}{a(n+1)} + C, \quad n \neq -1 \tag{۵}$$

$$\int (ax+b)^{-1}\,\mathrm{d}x = \frac{1}{a}\ln|ax+b| + C \tag{۶}$$

$$\int x(ax+b)^n\,\mathrm{d}x = \frac{(ax+b)^{n+1}}{a^2}\left[\frac{ax+b}{n+2} - \frac{b}{n+1}\right] + C, \quad n \neq -1, -2 \tag{۷}$$

$$\int x(ax+b)^{-1}\,\mathrm{d}x = \frac{x}{a} - \frac{b}{a^2}\ln|ax+b| + C \tag{۸}$$

$$\int x(ax+b)^{-2}\,\mathrm{d}x = \frac{1}{a^2}\left[\ln|ax+b| + \frac{b}{ax+b}\right] + C \tag{۹}$$

$$\int \frac{\mathrm{d}x}{x(ax+b)} = \frac{1}{b}\ln\left|\frac{x}{ax+b}\right| + C \tag{۱۰}$$

۲۶۰۷۱

(۱۱) $$\int (\sqrt{ax+b})^n \,\mathrm{d}x = \frac{2}{a}\frac{(\sqrt{ax+b})^{n+2}}{n+2} + C, \quad n \neq -2$$

(۱۲) $$\int \frac{\sqrt{ax+b}}{x}\,\mathrm{d}x = 2\sqrt{ax+b} + b\int \frac{\mathrm{d}x}{x\sqrt{ax+b}}$$

۲۶۰۷۲

(۱۳) $$\int \frac{\mathrm{d}x}{x\sqrt{ax-b}} = \frac{2}{\sqrt{b}}\tan^{-1}\sqrt{\frac{ax-b}{b}} + C$$
$$\int \frac{\mathrm{d}x}{x\sqrt{ax+b}} = \frac{1}{\sqrt{b}}\ln\left|\frac{\sqrt{ax+b}-\sqrt{b}}{\sqrt{ax+b}+\sqrt{b}}\right| + C$$

(۱۴) $$\int \frac{\sqrt{ax+b}}{x^2}\,\mathrm{d}x = -\frac{\sqrt{ax+b}}{x} + \frac{a}{2}\int \frac{\mathrm{d}x}{x\sqrt{ax+b}} + C$$

(۱۵) $$\int \frac{\mathrm{d}x}{x^2\sqrt{ax+b}} = -\frac{\sqrt{ax+b}}{bx} - \frac{a}{2b}\int \frac{\mathrm{d}x}{x\sqrt{ax+b}} + C$$

۲۶۰۷۳

(۱۶) $$\int \frac{\mathrm{d}x}{a^2+x^2} = \frac{1}{a}\tan^{-1}\frac{x}{a} + C$$

(۱۷) $$\int \frac{\mathrm{d}x}{(a^2+x^2)^2} = \frac{x}{2a^2(a^2+x^2)} + \frac{1}{2a^3}\tan^{-1}\frac{x}{a} + C$$

(۱۸) $$\int \frac{\mathrm{d}x}{a^2-x^2} = \frac{1}{2a}\ln\left|\frac{x+a}{x-a}\right| + C$$

(۱۹) $$\int \frac{\mathrm{d}x}{(a^2-x^2)^2} = \frac{x}{2a^2(a^2-x^2)} + \frac{1}{4a^3}\ln\left|\frac{x+a}{x-a}\right| + C$$

(۲۰) $$\int \frac{\mathrm{d}x}{\sqrt{a^2+x^2}} = \sinh^{-1}\frac{x}{a} + C = \ln(x+\sqrt{a^2+x^2}) + C$$

۲۶۰۷۴

(۲۱) $$\int \sqrt{a^2+x^2}\,\mathrm{d}x = \frac{x}{2}\sqrt{a^2+x^2} + \frac{a^2}{2}\ln(x+\sqrt{a^2+x^2}) + C$$

(۲۲) $$\int x^2\sqrt{a^2+x^2}\,\mathrm{d}x = \frac{x}{8}(a^2+2x^2)\sqrt{a^2+x^2} - \frac{a^4}{8}\ln(x+\sqrt{a^2+x^2}) + C$$

(۲۳) $$\int \frac{\sqrt{a^2+x^2}}{x}\,\mathrm{d}x = \sqrt{a^2+x^2} - a\ln\left|\frac{a+\sqrt{a^2+x^2}}{x}\right| + C$$

(۲۴) $$\int \frac{\sqrt{a^2+x^2}}{x^2}\,\mathrm{d}x = \ln(x+\sqrt{a^2+x^2}) - \frac{\sqrt{a^2+x^2}}{x} + C$$

۲۶۰۷۵

(۲۵) $$\int \frac{x^2}{\sqrt{a^2+x^2}}\,\mathrm{d}x = -\frac{a^2}{2}\ln(x+\sqrt{a^2+x^2}) + \frac{x\sqrt{a^2+x^2}}{2} + C$$

(۲۶) $$\int \frac{\mathrm{d}x}{x\sqrt{a^2+x^2}} = -\frac{1}{a}\ln\left|\frac{a+\sqrt{a^2+x^2}}{x}\right| + C$$

(۲۷) $$\int \frac{\mathrm{d}x}{x^2\sqrt{a^2+x^2}} = -\frac{\sqrt{a^2+x^2}}{a^2x} + C$$

(۲۸) $$\int \frac{\mathrm{d}x}{\sqrt{a^2-x^2}} = \sin^{-1}\frac{x}{a} + C$$

(۲۹) $$\int \sqrt{a^2-x^2}\,\mathrm{d}x = \frac{x}{2}\sqrt{a^2-x^2} + \frac{a^2}{2}\sin^{-1}\frac{x}{a} + C$$

۲۶۰۷۶

(۳۰) $$\int x^2\sqrt{a^2-x^2}\,\mathrm{d}x = \frac{a^4}{8}\sin^{-1}\frac{x}{a} - \frac{1}{8}x\sqrt{a^2-x^2}(a^2-2x^2) + C$$

(۳۱) $$\int \frac{\sqrt{a^2-x^2}}{x}\,\mathrm{d}x = \sqrt{a^2-x^2} - a\ln\left|\frac{a+\sqrt{a^2-x^2}}{x}\right| + C$$

(۳۲) $$\int \frac{\sqrt{a^2-x^2}}{x^2}\,\mathrm{d}x = -\sin^{-1}\frac{x}{a} - \frac{\sqrt{a^2-x^2}}{x} + C$$

(۳۳) $$\int \frac{x^2}{\sqrt{a^2-x^2}}\,\mathrm{d}x = \frac{a^2}{2}\sin^{-1}\frac{x}{a} - \frac{1}{2}x\sqrt{a^2-x^2} + C$$

(۳۴) $$\int \frac{\mathrm{d}x}{x\sqrt{a^2-x^2}} = -\frac{1}{a}\ln|\frac{a+\sqrt{a^2-x^2}}{x}| + C$$

(۳۵) $$\int \frac{\mathrm{d}x}{x^2\sqrt{a^2-x^2}} = -\frac{\sqrt{a^2-x^2}}{a^2x} + C$$

(۳۶) $$\int \frac{\mathrm{d}x}{\sqrt{x^2-a^2}} = \cosh^{-1}\frac{x}{a} + C = \ln|x+\sqrt{x^2-a^2}| + C$$

(۳۷) $$\int \sqrt{x^2-a^2}\,\mathrm{d}x = \frac{x}{2}\sqrt{x^2-a^2} - \frac{a^2}{2}\ln|x+\sqrt{x^2-a^2}| + C$$

(۳۸)
$$\int (\sqrt{x^2-a^2})^n dx = \frac{x(\sqrt{x^2-a^2})^n}{n+1} - \frac{na^2}{n+1}\int (\sqrt{x^2-a^2})^{n-2}\,\mathrm{d}x, \quad n \neq -1$$

(۳۹) $$\int \frac{\mathrm{d}x}{(\sqrt{x^2-a^2})^n} = \frac{x(\sqrt{x^2-a^2})^{2-n}}{(2-n)a^2} - \frac{n-3}{(n-2)a^2}\int \frac{dx}{(\sqrt{x^2-a^2})^{n-2}}, n \neq 2$$

(۴۰)
$$\int x(\sqrt{x^2-a^2})^n\,\mathrm{d}x = \frac{(\sqrt{x^2-a^2})^{n+2}}{n+2} + C, \quad n \neq -2$$

(۴۱) $$\int x^2\sqrt{x^2-a^2}\,\mathrm{d}x = \frac{x}{8}(2x^2-a^2)\sqrt{x^2-a^2} - \frac{a^4}{8}\ln|x+\sqrt{x^2-a^2}| + C$$

(۴۲) $$\int \frac{\sqrt{x^2-a^2}}{x}\,\mathrm{d}x = \sqrt{x^2-a^2} - a\sec^{-1}|\frac{x}{a}| + C$$

(۴۳) $$\int \frac{\sqrt{x^2-a^2}}{x^2}\,\mathrm{d}x = \ln|x+\sqrt{x^2-a^2}| - \frac{\sqrt{x^2-a^2}}{x} + C$$

(۴۴) $$\int \frac{x^2}{\sqrt{x^2-a^2}}\,\mathrm{d}x = \frac{a^2}{2}\ln|x+\sqrt{x^2-a^2}| + \frac{x}{2}\sqrt{x^2-a^2} + C$$

۳۰۷۷

(۴۵) $$\int \frac{\mathrm{d}x}{x\sqrt{x^2-a^2}} = \frac{1}{a}\sec^{-1}|\frac{x}{a}| + C = \frac{1}{a}\cos^{-1}|\frac{a}{x}| + C$$

(۴۶) $$\int \frac{\mathrm{d}x}{x^2\sqrt{x^2-a^2}} = \frac{\sqrt{x^2-a^2}}{a^2x} + C$$

(۴۷) $$\int \frac{\mathrm{d}x}{\sqrt{2ax-x^2}} = \sin^{-1}\left(\frac{x-a}{a}\right) + C$$

(۴۸)
$$\int \sqrt{2ax-x^2}\,\mathrm{d}x = \frac{x-a}{2}\sqrt{2ax-x^2} + \frac{a^2}{2}\sin^{-1}\left(\frac{x-a}{a}\right) + C$$

(۴۹)
$$\int (\sqrt{2ax-x^2})^n\,\mathrm{d}x = \frac{(x-a)(\sqrt{2ax-x^2})^n}{n+1} + \frac{na^2}{n+1}\int (\sqrt{2ax-x^2})^{n-2}\,\mathrm{d}x$$

(۵۰)
$$\int \frac{\mathrm{d}x}{(\sqrt{2ax-x^2})^n} = \frac{(x-a)(\sqrt{2ax-x^2})^{2-n}}{(n-2)a^2} + \frac{n-3}{(n-2)a^2}\int \frac{\mathrm{d}x}{(\sqrt{2ax-x^2})^{n-2}}$$

۲۶۰۷۸

(۵۱) $$\int x\sqrt{2ax-x^2}\,\mathrm{d}x = \frac{(x+a)(2x-3a)\sqrt{2ax-x^2}}{6} + \frac{a^3}{2}\sin^{-1}\left(\frac{x-a}{a}\right) + C$$

(۵۲) $$\int \frac{\sqrt{2ax-x^2}}{x}\,\mathrm{d}x = \sqrt{2ax-x^2} + a\sin^{-1}\left(\frac{x-a}{a}\right) + C$$

(۵۳) $$\int \frac{\sqrt{2ax-x^2}}{x^2}\,\mathrm{d}x = -2\sqrt{\frac{2a-x}{x}} - \sin^{-1}\left(\frac{x-a}{a}\right) + C$$

(۵۴) $$\int \frac{x\,\mathrm{d}x}{\sqrt{2ax-x^2}} = a\sin^{-1}\left(\frac{x-a}{a}\right) - \sqrt{2ax-x^2} + C$$

۲۶۰۷۹

(۵۵) $$\int \frac{\mathrm{d}x}{x\sqrt{2ax-x^2}} = -\frac{1}{a}\sqrt{\frac{2a-x}{x}} + C$$

(۵۶) $$\int \sin ax\,\mathrm{d}x = -\frac{1}{a}\cos ax + C$$

(۵۷) $$\int \cos ax\,\mathrm{d}x = \frac{1}{a}\sin ax + C$$

(۵۸) $$\int \sin^2 ax\,\mathrm{d}x = \frac{x}{2} - \frac{\sin 2ax}{4a} + C$$

(۵۹) $$\int \cos^2 ax\,\mathrm{d}x = \frac{x}{2} + \frac{\sin 2ax}{4a} + C$$

(۶۰) $$\int \sin^n ax\,\mathrm{d}x = -\frac{\sin^{n-1} ax\cos ax}{na} + \frac{n-1}{n}\int \sin^{n-2} ax\,\mathrm{d}x$$

(۶۱) $$\int \cos^n ax\,\mathrm{d}x = \frac{\cos^{n-1} ax\sin ax}{na} + \frac{n-1}{n}\int \cos^{n-2} ax\,\mathrm{d}x$$

۲۶۰۸۰

$$\int \sin ax\cos bx\,\mathrm{d}x = -\frac{\cos(a+b)x}{2(a+b)} - \frac{\cos(a-b)x}{2(a-b)} + C, \quad a^2 \neq b^2$$

(۶۲) $$\int \sin ax\sin bx\,\mathrm{d}x = \frac{\sin(a-b)x}{2(a-b)} - \frac{\sin(a+b)x}{2(a+b)} + C, \quad a^2 \neq b^2$$

$$\int \cos ax\cos bx\,\mathrm{d}x = \frac{\sin(a-b)x}{2(a-b)} + \frac{\sin(a+b)x}{2(a+b)} + C, \quad a^2 \neq b^2$$

(۶۳) $$\int \sin ax\cos ax\,\mathrm{d}x = -\frac{\cos 2ax}{4a} + C$$

(۶۴) $$\int \sin^n ax\cos ax\,\mathrm{d}x = \frac{\sin^{n+1} ax}{(n+1)a} + C, \quad n \neq -1$$

۲۶۰۸۱

(۶۵) $$\int \frac{\cos ax}{\sin ax}\,\mathrm{d}x = \frac{1}{a}\ln|\sin ax| + C$$

(۶۶) $$\int \cos^n ax \sin ax\,\mathrm{d}x = -\frac{\cos^{n+1} ax}{(n+1)a} + C, \quad n \neq -1$$

(۶۷) $$\int \frac{\sin ax}{\cos ax}\,\mathrm{d}x = -\frac{1}{a}\ln|\cos ax| + C$$

۲۶۰۸۲

(۶۸) $$\int \sin^n ax \cos^m ax\,\mathrm{d}x = -\frac{\sin^{n-1} ax \cos^{m+1} ax}{a(m+n)} + \frac{n-1}{m+n}\int \sin^{n-2} ax \cos^m ax\,\mathrm{d}x, \quad n \neq -m \quad (\sin^n ax \text{ تخفیف})$$

۲۶۰۸۳

(۶۹) $$\int \sin^n ax \cos^m ax\,\mathrm{d}x = \frac{\sin^{n+1} ax \cos^{m-1} ax}{a(m+n)} + \frac{m-1}{m+n}\int \sin^n ax \cos^{m-2} ax\,\mathrm{d}x, \quad m \neq -n \quad (\cos^m ax \text{ تخفیف})$$

۲۶۰۸۴

(۷۰)
$$\int \frac{\mathrm{d}x}{b + c\sin ax} = \frac{-2}{a\sqrt{b^2-c^2}}\tan^{-1}\left[\sqrt{\frac{b-c}{b+c}}\tan\left(\frac{\pi}{4} - \frac{ax}{2}\right)\right] + C, \quad b^2 > c^2$$

(۷۱)
$$\int \frac{\mathrm{d}x}{b + c\sin ax} = \frac{-1}{a\sqrt{c^2-b^2}}\ln\left|\frac{c + b\sin ax + \sqrt{c^2-b^2}\cos ax}{b + c\sin ax}\right| + C, \quad b^2 < c^2$$

(۷۲)
$$\int \frac{\mathrm{d}x}{1 + \sin ax} = -\frac{1}{a}\tan\left(\frac{\pi}{4} - \frac{ax}{2}\right) + C$$

(۷۳)
$$\int \frac{\mathrm{d}x}{1 - \sin ax} = \frac{1}{a}\tan\left(\frac{\pi}{4} + \frac{ax}{2}\right) + C$$

(۷۴)
$$\int \frac{\mathrm{d}x}{b + c\cos ax} = \frac{2}{a\sqrt{b^2-c^2}}\tan^{1}\left[\sqrt{\frac{b-c}{b+c}}\tan\frac{ax}{2}\right] + C, \quad b^2 > c^2$$

(۷۵)

$$\int \frac{\mathrm{d}x}{b + c\cos ax} = \frac{1}{a\sqrt{c^2 - b^2}} \ln \left| \frac{c + b\cos ax + \sqrt{c^2 - b^2}\sin ax}{b + c\cos ax} \right| + C, \quad b^2 < c^2$$

(۷۶)

$$\int \frac{\mathrm{d}x}{1 + \cos ax} = \frac{1}{a} \tan \frac{ax}{2} + C$$

(۷۷)

$$\int \frac{\mathrm{d}x}{1 - \cos ax} = -\frac{1}{a} \cot \frac{ax}{2} + C$$

(۷۸)

$$\int x \sin ax \, \mathrm{d}x = \frac{1}{a^2} \sin ax - \frac{x}{a} \cos ax + C$$

(۷۹)

$$\int x \cos ax \, \mathrm{d}x = \frac{1}{a^2} \cos ax + \frac{x}{a} \sin ax + C$$

(۸۰)

$$\int x^n \sin ax \, \mathrm{d}x = -\frac{x^n}{a} \cos ax + \frac{n}{a} \int x^{n-1} \cos ax \, \mathrm{d}x$$

۲۶۰۸۶

$$\int x^n \cos ax \, \mathrm{d}x = \frac{x^n}{a} \sin ax - \frac{n}{a} \int x^{n-1} \sin ax \, \mathrm{d}x \tag{۸۱}$$

$$\int \tan ax \, \mathrm{d}x = \frac{1}{a} \ln |\sec ax| + C \tag{۸۲}$$

$$\int \cot ax \, \mathrm{d}x = \frac{1}{a} \ln |\sin ax| + C \tag{۸۳}$$

$$\int \tan^2 ax \, \mathrm{d}x = \frac{1}{a} \tan ax - x + C \tag{۸۴}$$

$$\int \cot^2 ax \, \mathrm{d}x = -\frac{1}{a} \cot ax - x + C \tag{۸۵}$$

$$\int \tan^n ax \, \mathrm{d}x = \frac{\tan^{n-1} ax}{a(n-1)} - \int \tan^{n-2} ax \, \mathrm{d}x, \quad n \neq 1 \tag{۸۶}$$

$$\int \cot^n ax \, \mathrm{d}x = -\frac{\cot^{n-1} ax}{a(n-1)} - \int \cot^{n-2} ax \, \mathrm{d}x, \quad n \neq 1 \tag{۸۷}$$

$$\int \sec ax \, \mathrm{d}x = \frac{1}{a} \ln |\sec ax + \tan ax| + C \tag{۸۸}$$

$$\int \csc ax \, \mathrm{d}x = -\frac{1}{a} \ln |\csc ax + \cot ax| + C \tag{۸۹}$$

۲۶۰۸۷

$$\int \sec^2 ax\,\mathrm{d}x = \frac{1}{a}\tan ax + C \tag{۹۰}$$

$$\int \csc^2 ax\,\mathrm{d}x = -\frac{1}{a}\cot ax + C \tag{۹۱}$$

$$\int \sec^n ax\,\mathrm{d}x = \frac{\sec^{n-2} ax \tan ax}{a(n-1)} + \frac{n-2}{n-1}\int \sec^{n-2} ax\,\mathrm{d}x, \quad n \neq 1 \tag{۹۲}$$

$$\int \csc^n ax\,\mathrm{d}x = -\frac{\csc^{n-2} ax \cot ax}{a(n-1)} + \frac{n-2}{n-1}\int \csc^{n-2} ax\,\mathrm{d}x, \quad n \neq 1 \tag{۹۳}$$

$$\int \sec^n ax \tan ax\,\mathrm{d}x = \frac{\sec^n ax}{na} + C, \quad n \neq 0 \tag{۹۴}$$

$$\int \csc^n ax \cot ax\,\mathrm{d}x = -\frac{\csc^n ax}{na} + C, \quad n \neq 0 \tag{۹۵}$$

$$\int \sin^{-1} ax\,\mathrm{d}x = x\sin^{-1} ax + \frac{1}{a}\sqrt{1-a^2x^2} + C \tag{۹۶}$$

$$\int \cos^{-1} ax\,\mathrm{d}x = x\cos^{-1} ax - \frac{1}{a}\sqrt{1-a^2x^2} + C \tag{۹۷}$$

$$\int \tan^{-1} ax\,\mathrm{d}x = x\tan^{-1} ax - \frac{1}{2a}\ln(1+a^2x^2) + C \tag{۹۸}$$

$$\int x^n \sin^{-1} ax\,\mathrm{d}x = \frac{x^{n+1}}{n+1}\sin^{-1} ax - \frac{a}{n+1}\int \frac{x^{n+1}\,\mathrm{d}x}{\sqrt{1-a^2x^2}}, \quad n \neq -1 \tag{۹۹}$$

۲۶۰۸۸

$$\int x^n \cos^{-1} ax\,\mathrm{d}x = \frac{x^{n+1}}{n+1}\cos^{-1} ax + \frac{a}{n+1}\int \frac{x^{n+1}\,\mathrm{d}x}{\sqrt{1-a^2x^2}}, \quad n \neq -1 \tag{۱۰۰}$$

$$\int x^n \tan^{-1} ax\,\mathrm{d}x = \frac{x^{n+1}}{n+1}\tan^{-1} ax - \frac{a}{n+1}\int \frac{x^{n+1}\,\mathrm{d}x}{1+a^2x^2}, \quad n \neq -1 \tag{۱۰۱}$$

$$\int e^{ax}\,\mathrm{d}x = \frac{1}{a}e^{ax} + C \tag{۱۰۲}$$

$$\int b^{ax}\,\mathrm{d}x = \frac{1}{a}\frac{b^{ax}}{\ln b} + C, \quad b > 0, \quad b \neq 1 \tag{۱۰۳}$$

$$\int xe^{ax}\,\mathrm{d}x = \frac{e^{ax}}{a^2}(ax-1) + C \tag{۱۰۴}$$

$$\int x^n e^{ax}\,\mathrm{d}x = \frac{1}{a}x^n e^{ax} - \frac{n}{a}\int x^{n-1}e^{ax}\,\mathrm{d}x \tag{۱۰۵}$$

۲۶۰۸۹

$$\int x^n b^{ax}\,\mathrm{d}x = \frac{x^n b^{ax}}{a\ln b} - \frac{n}{a\ln b}\int n^{n-1} b^{ax}\,\mathrm{d}x, \quad b>0,\ b\neq 1 \tag{۱۰۶}$$

$$\int e^{ax}\sin bx\,\mathrm{d}x = \frac{e^{ax}}{a^2+b^2}(a\sin bx - b\cos bx) + C \tag{۱۰۷}$$

$$\int e^{ax}\cos bx\,\mathrm{d}x = \frac{e^{ax}}{a^2+b^2}(a\cos bx + b\sin bx) + C \tag{۱۰۸}$$

$$\int \ln ax\,\mathrm{d}x = x\ln ax - x + C \tag{۱۰۹}$$

$$\int x^n(\ln ax)^m\,\mathrm{d}x = \frac{x^{n+1}(\ln ax)^m}{n+1} - \frac{m}{n+1}\int x^n(\ln ax)^{m-1}\,\mathrm{d}x, \quad n\neq -1 \tag{۱۱۰}$$

۲۶۰۹۰

$$\int x^{-1}(\ln ax)^m\,\mathrm{d}x = \frac{(\ln ax)^{m+a}}{m+1} + C, \quad m\neq -1 \tag{۱۱۱}$$

$$\int \frac{\mathrm{d}x}{x\ln ax} = \ln|\ln ax| + C \tag{۱۱۲}$$

$$\int \sinh ax\,\mathrm{d}x = \frac{1}{a}\cosh ax + C \tag{۱۱۳}$$

$$\int \cosh ax\,\mathrm{d}x = \frac{1}{a}\sinh ax + C \tag{۱۱۴}$$

۲۶۰۹۱

$$\int \sinh^2 ax\,\mathrm{d}x = \frac{\sinh 2ax}{4a} - \frac{x}{2} + C \tag{۱۱۵}$$

$$\int \cosh^2 ax\,\mathrm{d}x = \frac{\sinh 2ax}{4a} + \frac{x}{2} + C \tag{۱۱۶}$$

$$\int \sinh^n ax\,\mathrm{d}x = \frac{\sinh^{n-1} ax\cosh ax}{na} - \frac{n-1}{n}\int \sinh^{n-2} ax\,\mathrm{d}x, \quad n\neq 0 \tag{۱۱۷}$$

$$\int \cosh^n ax\,\mathrm{d}x = \frac{\cosh^{n-1} ax\sinh ax}{na} + \frac{n-1}{n}\int \cosh^{n-2} ax\,\mathrm{d}x, \quad n\neq 0 \tag{۱۱۸}$$

$$\int x\sinh ax\,\mathrm{d}x = \frac{x}{a}\cosh ax - \frac{1}{a^2}\sinh ax + C \tag{۱۱۹}$$

$$\int x\cosh ax\,\mathrm{d}x = \frac{x}{a}\sinh ax - \frac{1}{a^2}\cosh ax + C \tag{۱۲۰}$$

$$\int x^n\sinh ax\,\mathrm{d}x = \frac{x^n}{a}\cosh ax - \frac{n}{a}\int x^{n-1}\cosh ax\,\mathrm{d}x \tag{۱۲۱}$$

$$\int x^n\cosh ax\,\mathrm{d}x = \frac{x^n}{a}\sinh ax - \frac{n}{a}\int x^{n-1}\sinh ax\,\mathrm{d}x \tag{۱۲۲}$$

۲۶۰۹۲

$$\int \tanh ax \, \mathrm{d}x = \frac{1}{a} \ln(\cosh ax) + C \tag{۱۲۳}$$

$$\int \coth ax \, \mathrm{d}x = \frac{1}{a} \ln|\sinh ax| + C \tag{۱۲۴}$$

$$\int \tanh^2 ax \, \mathrm{d}x = x - \frac{1}{a} \tanh ax + C \tag{۱۲۵}$$

$$\int \coth^2 ax \, \mathrm{d}x = x - \frac{1}{a} \coth ax + C \tag{۱۲۶}$$

$$\int \tanh^n ax \, \mathrm{d}x = -\frac{\tanh^{n-1} ax}{(n-1)a} + \int \tanh^{n-2} ax \, \mathrm{d}x, \quad n \neq 1 \tag{۱۲۷}$$

$$\int \coth^n ax \, \mathrm{d}x = -\frac{\coth^{n-1} ax}{(n-1)a} + \int \coth^{n-2} ax \, \mathrm{d}x, \quad n \neq 1 \tag{۱۲۸}$$

$$\int \operatorname{sech} ax \, \mathrm{d}x = \frac{1}{a} \sin^{-1}(\tanh ax) + C \tag{۱۲۹}$$

۲۶۰۹۳

$$\int \operatorname{csch} ax \, \mathrm{d}x = \frac{1}{a} \ln \left| \tanh \frac{ax}{2} \right| + C \tag{۱۳۰}$$

$$\operatorname{sech}^2 ax \, \mathrm{d}x = \frac{1}{a} \tanh ax + C \tag{۱۳۱}$$

$$\int \operatorname{csch}^2 ax \, \mathrm{d}x = -\frac{1}{a} \coth ax + C \tag{۱۳۲}$$

$$\int \operatorname{sech}^n ax \, \mathrm{d}x = \frac{\operatorname{sech}^{n-2} ax \tanh ax}{(n-1)a} + \frac{n-2}{n-1} \int \operatorname{sech}^{n-2} ax \, \mathrm{d}x, \quad n \neq 1 \tag{۱۳۳}$$

$$\int \operatorname{csch}^n ax \, \mathrm{d}x = -\frac{\operatorname{csch}^{n-2} ax \coth ax}{(n-1)a} - \frac{n-2}{n-1} \int \operatorname{csch}^{n-2} ax \, \mathrm{d}x, \quad n \neq 1 \tag{۱۳۴}$$

۲۶۰۹۴

$$\int \operatorname{sech}^n ax \tanh ax \, dx = -\frac{\operatorname{sech}^n ax}{na} + C, \quad n \neq 0 \tag{۱۳۵}$$

$$\int \operatorname{csch}^n ax \coth ax \, dx = -\frac{\operatorname{csch}^n ax}{na} + C, \quad n \neq 0 \tag{۱۳۶}$$

$$\int e^{ax} \sinh bx \, dx = \frac{e^{ax}}{2}\left[\frac{e^{bx}}{a+b} - \frac{e^{-bx}}{a-b}\right] + C, \quad a^2 \neq b^2 \tag{۱۳۷}$$

$$\int e^{ax} \cosh bx \, dx = \frac{e^{ax}}{2}\left[\frac{e^{bx}}{a+b} + \frac{e^{-bx}}{a-b}\right] + C, \quad a^2 \neq b^2 \tag{۱۳۸}$$

$$\int_0^\infty x^{n-1} e^{-x} \, dx = \Gamma(n) = (n-1)!, \quad n > 0 \tag{۱۳۹}$$

$$\int_0^\infty e^{-ax^2} \, dx = \frac{1}{2}\sqrt{\frac{\pi}{a}}, \quad a > 0 \tag{۱۴۰}$$

۲۶۰۹۵

$$\int_0^{\pi/2} \sin^n x \, dx = \int_0^{\pi/2} \cos^n x \, dx = \begin{cases} \frac{1\cdot3\cdot5\cdots(n-1)}{2\cdot4\cdot6\cdots n} \cdot \frac{\pi}{2}, & \text{اگر } n \geq 2 \text{ عدد صحیح ہو} \\ \frac{2\cdot4\cdot6\cdots(n-1)}{3\cdot5\cdot7\cdots n}, & \text{اگر } n \geq 3 \text{ طاق عدد صحیح ہو} \end{cases} \tag{۱۴۱}$$

جوابات

حصہ ۱.۱ صفحہ ۹

۱.۱) $0.\bar{1}, 0.\bar{2}, 0.\bar{3}, 0.\bar{8}$

۱.۵) $x < -2$

۱.۷) $x \leq \frac{5}{4}$

۱.۹) $x \leq -\frac{1}{3}$

۱.۱۱) $x < -\frac{6}{7}$

۱.۱۳) ∓ 3

۱.۱۵) $-\frac{1}{2}, \quad -\frac{9}{2}$

۱.۱۷) $\frac{7}{6}, \quad \frac{25}{6}$

۱.۱۹) $-2 < x < 2$

۱.۲۱) $-2 \leq t \leq 4$

۱.۲۳) $1 < y < \frac{11}{3}$

۱.۲۵) $0 \leq z \leq 10$

۱.۲۷) $\frac{10}{35} < x < \frac{14}{35}$ یا $\frac{2}{7} < y < \frac{11}{3}$

۱.۲۹) $(-\infty, -2] \cup [2, \infty)$

۱.۳۱) $(-\infty, 0) \cup (2, \infty)$

۱.۳۳) $(-\infty, -3] \cup [1, \infty)$

۱.۳۵) $(-\sqrt{2}, \sqrt{2})$

۱.۳۷) $(-3, -2) \cup (2, 3)$

۱.۳۹) $(-1, 3)$

۱.۴۱) $(0, 1)$

۱.۴۳) تمام منفی حقیقی اعداد کے لئے غلط جبکہ $a \geq 0$ کے لئے درست ہے۔

۱.۴۷) $-\frac{1}{2} < x \leq 3$

۱.۴۹) $(-2, 0) \cup (4, \infty)$

حصہ ۱.۲ صفحہ ۲۳

۱.۵۱) $2, -4; 2\sqrt{5}$

۱.۵۳) $-4.9, 0; 4.9$

۱.۵۵) اکائی دائرہ

۱.۵۷) رداس $\sqrt{3}$ کا دائرہ اور اس کا اندرون۔ دائرے کا مرکز مبدا پر ہے۔

۱.۵۹) $m_\perp = -\frac{1}{3}$

۱.۶۱) $m_\perp$ غیر معین ہے۔

۱.۶۳) (الف) $x = -1$ (ب) $y = \frac{4}{3}$

۱.۶۵) (الف) $x = 0$ $y = -\sqrt{2}$

۱.۶۷) $y = -x$

۱.۶۹) $y = -\frac{x}{5} + \frac{23}{5}$

۱.۷۱) $y = -\frac{5}{4}x + 6$

۱.۷۳) $y = -9$

۱.۷۵) $y = 4x + 4$

۱.۷۷) $y = -\frac{2}{5}x + 1$

۱.۷۹) $y = -\frac{x}{2} + 12$

۱.۸۱) قطع $x = 4$ ، قطع $y = 3$

۱.۸۳) قطع $x = \sqrt{3}$ ، قطع $y = -\sqrt{2}$

۱.۸۵) جی ہاں۔ خطوط قائمہ ہیں چونکہ ان کے ڈھلوان $-\frac{A}{B}$ اور $\frac{B}{A}$ ایک دوسرے کے منفی معکوس ہیں۔

۱.۸۷) $(3, -3)$

۱.۸۹) $(-2, -9)$

۱.۹۱) 5.97 کرہ ہوائی دباو

۱.۹۳) جی ہاں۔ $C = F = -40^\circ$

۱.۹۷) $(-1, 4), (-1, -2), (5, 2)$

۱.۹۹) $k = -8, \quad k = \frac{1}{2}$

حصہ ۱.۳ صفحہ ۳۷

۱.۱۰۳) دائرہ کار $(-\infty, \infty)$ ، سعت $[1, \infty)$

۱.۱۰۵) دائرہ کار $(0, \infty)$ ، سعت $(0, \infty)$

۱.۱۰۷) دائرہ کار $[-2, 2]$ ، سعت $[0, 2]$

۱.۱۰۹) (الف) چونکہ چند x پر y کی دو قیمتیں پائی جاتی ہیں لہٰذا x کا تفاعل نہیں ہے۔

(ب) چونکہ ہر x پر y کی ایک قیمت پائی جاتی ہے لہٰذا x کا تفاعل ہے۔

۱.۱۱۱) $A = \frac{\sqrt{3}}{4}x^2, \quad p = 3x$

۱.۱۱۵) مبدا کے لحاظ سے تشاکل ہے۔

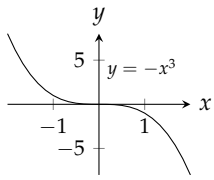

۱.۱۱۷) مبدا کے لحاظ سے تشاکل ہے۔

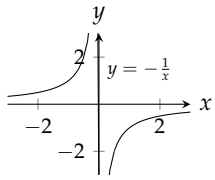

۱.۱۱۹) y محدد کے لحاظ سے تشاکل ہے۔

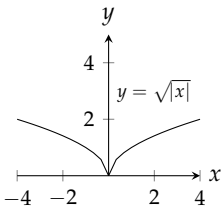

۱.۱۲۱) مبدا کے لحاظ سے تشاکل ہے۔

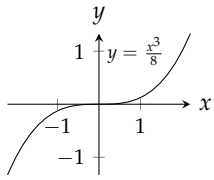

۱.۱۲۳) کوئی تشاکل نہیں پایا جاتا ہے۔

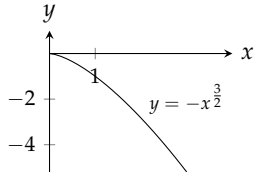

۱.۱۲۵) y محور کے لحاظ سے تشاکل۔

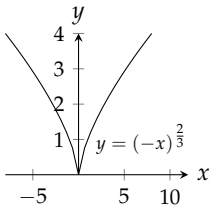

۱.۱۲۷) (الف) x کی ہر مثبت قیمت کے لئے y کی دو قیمتیں پائی جاتی ہیں۔

(ب) ہر $x \neq 0$ کے لئے y کی دو قیمتیں پائی جاتی ہیں۔

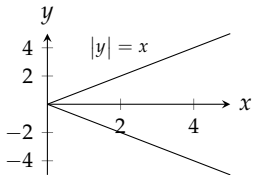

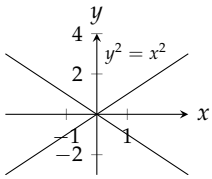

۱.۱۲۹) جفت

۱.۱۳۱) جفت

۱.۱۳۳) طاق

۱.۱۳۵) جفت

۱.۱۳۷) ناجفت اور ناطاق

۱.۱۳۹) ناجفت اور ناطاق

۱.۱۴۱)
$$D_f : -\infty < x < \infty, D_g : x \geq 1,$$
$$R_f : -\infty < y < \infty, R_g : y \geq 0,$$
$$D_{f+g} = D_{f \cdot g} = D_g,$$
$$R_{f+g} : y \geq 1, R_{f \cdot g} : y \geq 0$$

۱.۱۴۳)
$$D_f : -\infty < x < \infty, D_g : -\infty < x < \infty,$$
$$R_f : y = 2, R_g : y \geq 1,$$
$$D_{\frac{f}{g}} : -\infty < x < \infty, R_{\frac{f}{g}} : 0 < y \leq 2,$$
$$D_{\frac{g}{f}} : -\infty < x < \infty, R_{\frac{g}{f}} : y \geq \frac{1}{2}$$

۱.۱۴۵)

ا. 2

ب. 22

ج. $x^2 + 2$

د. $x^2 + 10x + 22$

ھ. 5

و. -2

ز. $g + 10$

۲۶۱۹۳ ج. $x^4 - 6x^2 + 6$

۲۶۲۰۳ ۱.۱۶۹) (الف) $y = (x-2)^2 + 2$

۲۶۲۰۴ (ب) $y = (x+2)^2 + 2$

۲۶۲۰۵ (پ) $y = (x+3)^2 - 2$

۲۶۲۰۶ (ت) $y = (x-1)^2 - 4$

۲۶۲۰۷ ۱.۱۷۱) $(x+2)^2 + (y+3)^2 = 49$ ،

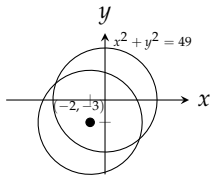

۱.۱۵۱)

۲۶۲۰۸

	$g(x)$	$f(x)$	$(f \circ g)(x)$
(الف)	$x-7$	$\sqrt{x}$	$\sqrt{x-7}$
(ب)	$x+2$	$3x$	$3x+6$
(ج)	x^2	$\sqrt{x-5}$	$\sqrt{x^2-5}$
(د)	$\frac{x}{x-1}$	$\frac{x}{x-1}$	x
(ه)	$\frac{1}{x-1}$	$1+\frac{1}{x}$	x
(و)	$\frac{1}{x}$	$\frac{1}{x}$	x

۲۶۲۰۹ ۱.۱۷۳) $y + 1 = (x+1)^3$ ،

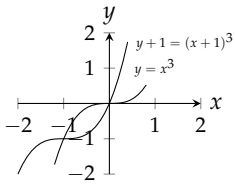

۲۶۲۱۰

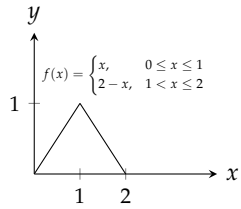

۲۶۱۹۴ ۱.۱۵۳)

۲۶۲۱۱ ۱.۱۷۵) $y = \sqrt{x + 0.81}$ ،

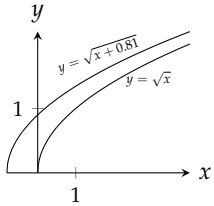

۲۶۲۱۲

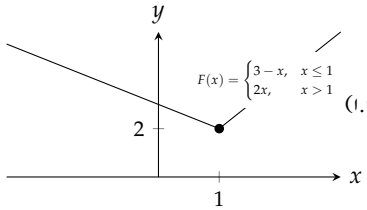

۲۶۱۹۵ ۱.۱۵۵)

۲۶۲۱۳ ۱.۱۷۷) $y = 2x$ ،

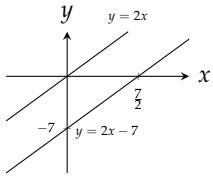

۲۶۱۹۶ ۱.۱۵۷) (الف) $y = \begin{cases} x, & 0 \le x \le 1 \\ 2-x, & 1 < x \le 2 \end{cases}$ $y =$

۲۶۱۹۷ (ب) $\begin{cases} 2, & 0 \le x < 1 \text{ یا } 2 \le x < 3 \\ 0, & 1 \le x < 2 \text{ یا } 3 \le x \le 4 \end{cases}$

۲۶۱۹۸ ۱.۱۵۹) الف $0 \le x < 1$ (ب) $-1 < x \le 0$

۲۶۱۹۹ ۱.۱۶۱) ہاں

۲۶۲۱۵ ۱.۱۷۹) $x + 1 = y^2$ ،

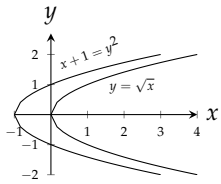

۲۶۲۱۶

۲۶۲۰۰ حصہ ۱.۴ صفحہ ۵۲

۲۶۲۰۱ ۱.۱۶۷) (الف) $y = -(x+7)^2$ $y = -(x-$

۲۶۲۰۲ (ب) $4)^2$

۲۶۲۱۷ ۱.۱۸۱) $y - 1 = \frac{1}{x-1}$ ،

۲۳۲۱۸ (۱.۱۸۲

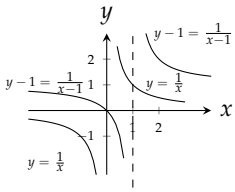

۲۳۲۱۹ (۱.۱۸۳

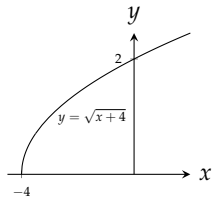

۲۳۲۲۰ (۱.۱۸۵

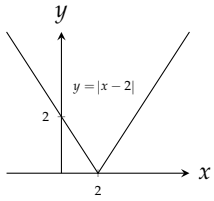

۲۳۲۲۱ (۱.۱۸۷

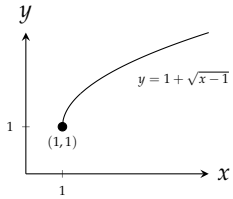

۲۳۲۲۲ (۱.۱۸۹

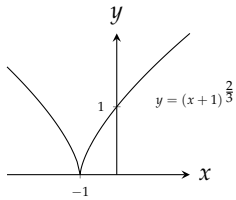

۲۳۲۲۳ (۱.۱۹۱

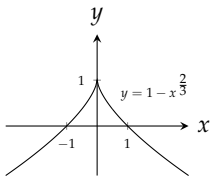

۲۳۲۲۴ (۱.۱۹۳

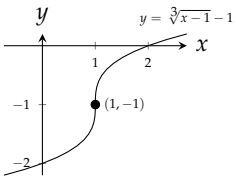

۲۳۲۲۵ (۱.۱۹۵

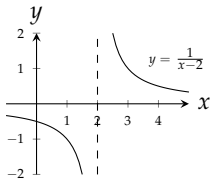

۲۳۲۲۶ (۱.۱۹۷

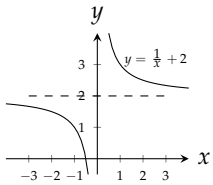

۲۳۲۲۷ (۱.۱۹۹

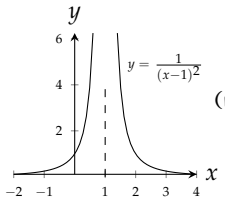

۲۳۲۲۸ (۱.۲۰۱

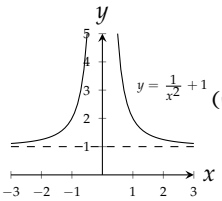

۲۳۲۲۹ (۱.۲۰۳

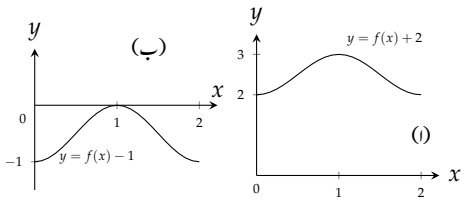

۲۶۲۳۰

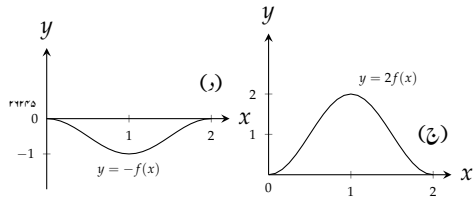

۲۶۲۳۱

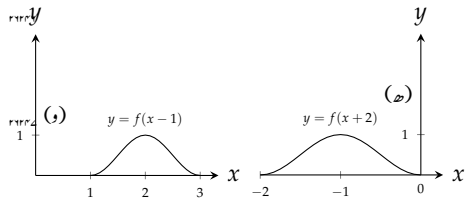

۲۶۲۳۲

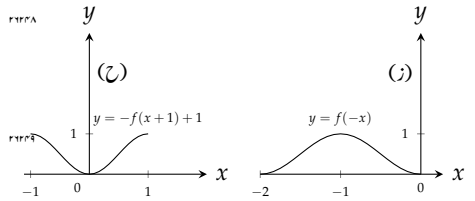

۲۶۲۳۳ جبکہ دائرہ کار اور سعت درج ذیل ہیں۔

۲۶۲۳۴ ا. $D : [0,2],\ R : [2,3]$

۲۶۲۳۵ ب. $D : [0,2],\ R : [-1,0]$

۲۶۲۳۶ ج. $D : [0,2],\ R = [0,2]$

۲۶۲۳۷ د. $D : [0,2],\ R : [-1,0]$

۲۶۲۳۸ ھ. $D : [-2,0],\ R : [0,1]$

۲۶۲۳۹ و. $D : [1,3],\ R : [0,1]$

۲۶۲۴۰ ز. $D : [-2,0],\ R : [0,1]$

۲۶۲۴۱ ح. $D : [-1,1],\ R : [0,1]$

۲۶۲۴۲ ۱.۲۰۵) $x^2 + (y-2)^2 = 4$ ،

۲۶۲۴۳

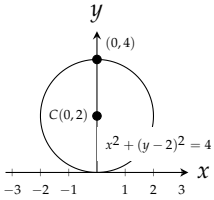

۲۶۲۴۴ ۱.۲۰۷) $(x+1)^2 + (y-5)^2 = 10$ ،

۲۶۲۴۵

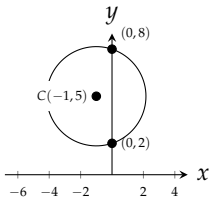

۲۶۲۴۶ ۱.۲۰۹) $(x+\sqrt{3})^2 + (y+2)^2 = 4$ ،

۲۶۲۴۷

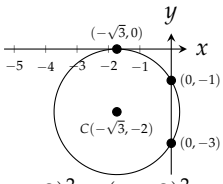

۲۶۲۴۸ ۱.۲۱۱) $(x+2)^2 + (y-2)^2 = 4$ ،

۲۶۲۴۹

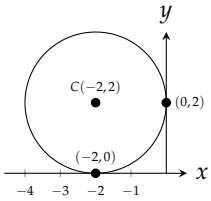

۲۶۲۵۰ ۱.۲۱۳) $x^2 + (y-\frac{3}{2})^2 = \frac{25}{4}$ ،

۲۶۲۵۱

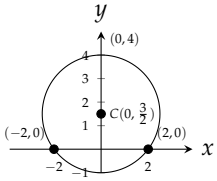

۲۶۲۵۲ ۱.۲۱۵) $(x-2)^2(y+2)^2 = 8$ ،

۲۶۲۵۳

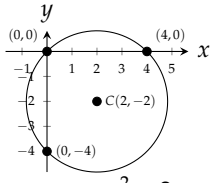

۲۶۲۵۴ ۱.۲۱۷) $y = x^2 - 2x - 3$ ،

۲۶۲۵۵

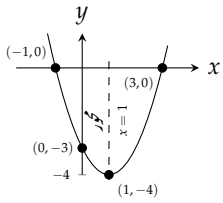

۲۶۲۵۶ (۱.۲۱۹ $y = -x^2 + 4x$

۲۶۲۵۷

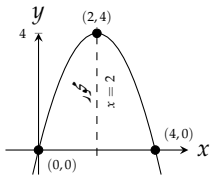

۲۶۲۵۸ (۱.۲۲۱

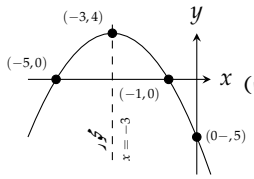

۲۶۲۵۹ (۱.۲۲۳

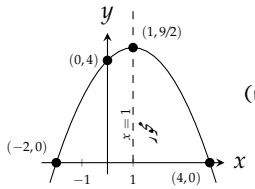

۲۶۲۶۰ (۱.۲۲۵

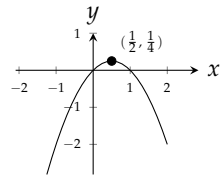

۲۶۲۶۱ (۱.۲۲۷ رداس $\sqrt{7}$ کے دائرے کا بیرون۔ دائرے کا مرکز مبدا پر ہے۔

۲۶۲۶۲ (۱.۲۲۹ $(1,0)$ پر مرکز اور رداس 2 دائرے پر اور اس کے اندر۔

۲۶۲۶۳ (۱.۲۳۱ دائرہ $x^2 + y^2 = 1$ اور دائرہ $x^2 + y^2 = 4$ کے بیچ

۲۶۲۶۴ جھلی۔ (وہ نقطے جن کا مبدا سے فاصل 1 اور 2 کے بیچ ہے۔)

۲۶۲۶۵ (۱.۲۳۳ خط $y = -3$ کی بالائی جانب رداس 3 کے دائرہ کا

۲۶۲۶۶ اندرون۔ دائرے کا مرکز $(0,-3)$ ہے۔

۲۶۲۶۷ (۱.۲۳۵ $(x+2)^2 + (y-1)^2 < 6$

۲۶۲۶۸ (۱.۲۳۷ $x^2 + y^2 \leq 2, \quad x \geq 1$

۲۶۲۶۹ (۱.۲۳۹ $y = y_0 + m(x - x_0)$

۲۶۲۷۰ (۱.۲۴۱ $(\frac{1}{\sqrt{5}}, \frac{2}{\sqrt{5}}), \quad (-\frac{1}{\sqrt{5}}, -\frac{2}{\sqrt{5}})$

۲۶۲۷۱ (۱.۲۴۳ $(\frac{1-\sqrt{5}}{2}, \frac{3-\sqrt{5}}{2}), \quad (\frac{1+\sqrt{5}}{2}, \frac{3+\sqrt{5}}{2})$

۲۶۲۷۲ (۱.۲۴۵ $(-\frac{1}{\sqrt{3}}, -\frac{1}{3}), \quad (\frac{1}{\sqrt{3}}, -\frac{1}{3})$

۲۶۲۷۳ (۱.۲۴۷ $(\frac{1}{2}, -\frac{\sqrt{3}}{2}), \quad (\frac{1}{2}, \frac{\sqrt{3}}{2})$

۲۶۲۷۴ حصہ ۱.۵ صفحہ ۷۱

۲۶۲۷۵ (۱.۲۵۳ (الف) 8π سنٹی میٹر (ب) 0.19 میٹر

۲۶۲۷۶ (۱.۲۵۵ 20.9 cm

۲۶۲۷۷ (۱.۲۵۹ $\cos x = -\frac{4}{5}, \quad \tan x = -\frac{3}{4}$

۲۶۲۷۸ (۱.۲۶۱ $\sin x = -\frac{\sqrt{8}}{3}, \quad \tan x = -\sqrt{8}$

۲۶۲۷۹ (۱.۲۶۳ $\sin x = -\frac{1}{\sqrt{5}}, \quad \cos x = -\frac{2}{\sqrt{5}}$

۲۶۲۸۰ (۱.۲۶۵ دوری عرصہ π ہے۔

۲۶۲۸۱

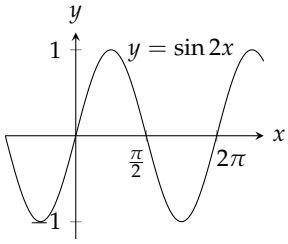

۲۶۲۸۲ (۱.۲۶۷ دائرہ کار: 2 ،

۲۶۲۸۳

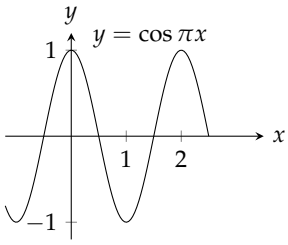

۲۶۲۸۴ (۱.۲۶۹ دائرہ کار: 6 ،

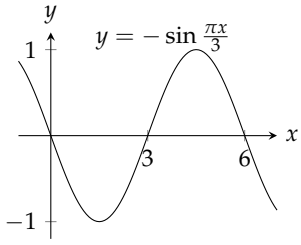

۲۶۲۸۶ (۱.۲۷۱ دائرہ کار: 2π ،

۲۶۲۸۷

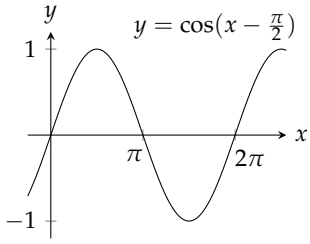

۲۶۲۸۸ (۱.۲۷۳ دائرہ کار: 2π ،

۲۶۲۸۹

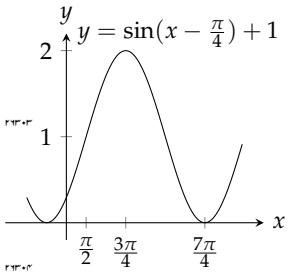

۲۶۲۹۰ ۱.۲۷۵) دائرہ کار: $\frac{\pi}{2}$ ،

۲۶۲۹۱

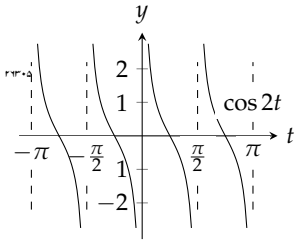

۲۶۲۹۲ ۱.۲۷۷) دائرہ کار: 4 ،

۲۶۲۹۳

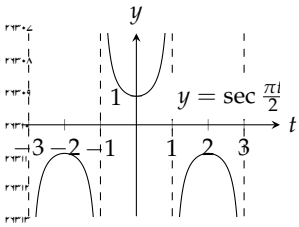

۲۶۲۹۴ ۱.۲۹۱) $-\cos x$

۲۶۲۹۵ ۱.۲۹۳) $-\cos x$

۲۶۲۹۶ ۱.۲۹۵) $\frac{\sqrt{6}+\sqrt{2}}{4}$

۲۶۲۹۷ ۱.۲۹۷) $\frac{1+\sqrt{3}}{2\sqrt{2}}$

۲۶۲۹۸ ۱.۲۹۹) $\frac{2+\sqrt{2}}{4}$

۲۶۲۹۹ ۱.۳۰۱) $\frac{2-\sqrt{3}}{4}$

۲۶۳۰۰ ۱.۳۰۷) $c = \sqrt{7} \approx 2.646$

۲۶۳۰۱ ۱.۳۱۱) $a = 1.464$

۲۶۳۰۲ ۱.۳۱۳) $A = 2, B = 2\pi, C = -\pi, D = -1$ ؛

۲۶۳۰۳

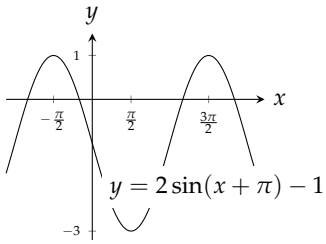

۲۶۳۰۴ ۱.۳۱۵) $A = -\frac{2}{\pi}, B = 4, C = 0, D = \frac{1}{\pi}$ ؛

۲۶۳۰۵

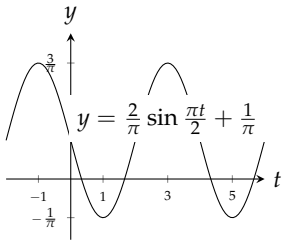

۲۶۳۰۶ حصہ ۲.۱ صفحہ ۸۶

۲۶۳۰۷ ۲.۱) (ا) موجود نہیں ہے۔ جیسے جیسے x دائیں سے 1 کے نزدیک تر ہوتا ہے

۲۶۳۰۸ ویسے ویسے $g(x)$ کی قیمت 0 کے نزدیک تر ہوتی ہے۔ جیسے جیسے

۲۶۳۰۹ x بائیں سے 1 کے نزدیک تر ہوتا ہے ویسے ویسے $g(x)$ کی قیمت

۲۶۳۱۰ 1 کے نزدیک تر ہوتی ہے۔ یوں x کی قیمت 1 کے نزدیک تر ہونے

۲۶۳۱۱ سے L کی یکتا قیمت کے نزدیک تر $g(x)$ نہیں پہنچتا۔ (ب) 1

۲۶۳۱۲ (ج) 0

۲۶۳۱۳ ۲.۳) (ا) درست (ب) درست (ج) غلط (د) غلط (ہ) غلط (و) درست

۲۶۳۱۴ ۲.۵) جیسے جیسے x دائیں سے 0 کے نزدیک تر ہوتا ہے $\frac{x}{|x|}$ کی قیمت $+1$

۲۶۳۱۵ حاصل ہوتی ہے۔ جیسے جیسے x بائیں سے 1 کے نزدیک تر ہوتا ہے

۲۶۳۱۶ $\frac{x}{|x|}$ کی قیمت -1 حاصل ہوتی ہے۔ یوں x کا 0 کے نزدیک تر

۲۶۳۱۷ ہونے سے $\frac{x}{|x|}$ کسی یکتا قیمت کے نزدیک تر نہیں ہوتا۔

۲۶۳۱۸ ۲.۱۱) (ا)

x	-3.1	-3.01	-3.001
$f(x)$	-6.1	-6.01	-6.001

x	-3.0001	-3.00001	-3.000001
$f(x)$	-6.0001	-6.00001	-6.000001

۲۶۳۱۹

x	-2.9	-2.99	-2.999
$f(x)$	-5.9	-5.99	-5.999

x	-2.9999	-2.99999	-2.999999
$f(x)$	-5.9999	-5.99999	-5.999999

۲۶۳۲۰ (ج) $\lim_{x\to -3} f(x) = -6$

۲۶۳۲۱ ۲.۱۳) (ا)

۲.۳۶) (ب) $5600000 \approx$ سالانہ (پ) $4200000 \approx$ سالانہ

۲.۳۸) (ا) $\frac{\sqrt{1+h}-1}{h}$ ، $0.414213, 0.449489,$ (ب)

$1+h$	1.1	1.01	1.001
$\sqrt{1+h}$	1.04880	1.004987	1.0004998
$\frac{\sqrt{1+h}-1}{h}$	0.4880	0.4987	0.4998

$1+h$	1.0001	1.00001	1.000001
$\sqrt{1+h}$	1.0000499	1.000005	1.000005
$\frac{\sqrt{1+h}-1}{h}$	0.499	0.5	0.5

(ج) 0.5 (د) 0.5

حصہ ۲.۲ صفحہ ۹۸

۲.۴۶) -9

۲.۴۸) 4

۲.۵۰) -8

۲.۵۲) $\frac{5}{8}$

۲.۵۴) $\frac{5}{2}$

۲.۵۶) 27

۲.۵۸) 16

۲.۶۰) $\frac{3}{2}$

۲.۶۲) $\frac{1}{10}$

۲.۶۴) -7

۲.۶۶) $\frac{3}{2}$

۲.۶۸) $-\frac{1}{2}$

۲.۷۰) $\frac{4}{3}$

۲.۷۲) $\frac{1}{6}$

۲.۷۴) 4

۲.۷۶) (ا) قاعدہ حاصل تقسیم (ب) فرق اور قاعدہ طاقت (پ) مجموعہ اور ضرب مستقل قاعدہ

۲.۷۸) (ا) -10 (ب) -20 (ج) -1 (د) $\frac{5}{7}$

۲.۸۰) (ا) 4 (ب) -21 (ج) -12 (د) $-\frac{7}{3}$

۲.۸۲) 2

۲.۸۴) 3

۲.۸۶) $\frac{1}{2\sqrt{7}}$

۲.۸۸) $\sqrt{5}$

۲.۹۰) (ا) حد 1 ہے۔

۲.۹۴) 7

۲.۹۶) (ا) 5 (ب) 5

حصہ ۲.۳ صفحہ ۱۱۴

۲.۱۰۰) $\delta = 2$

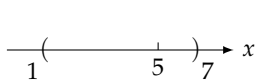

x	-5.9	-5.99	-5.999
$G(x)$	-0.126582	-0.1251564	-0.1250156

x	-5.9999	-5.99999	-5.999999
$G(x)$	-0.1250015	-0.1250001	-0.1250000

۲.۱۳ (ا)

x	-6.1	-6.01	-6.001
$G(x)$	-0.123456	-0.124843	-0.124984

x	-6.0001	-6.00001	-6.000001
$G(x)$	-0.124998	-0.124999	-0.124999

(ج) $\lim_{x\to -6} G(x) = -\frac{1}{8} = -0.125$

۲.۱۵) (ا)

x	-1.1	-1.01	-1.001
$f(x)$	2.1	2.01	2.001

x	-1.0001	-1.00001	-1.000001
$f(x)$	2.0001	2.00001	2.000001

۲.۱۷) (ا)

x	-0.9	-0.99	-0.999
$f(x)$	1.9	1.99	1.999

x	-0.9999	-0.99999	-0.999999
$f(x)$	1.9999	1.99999	1.999999

(ج) $\lim_{x\to -1} f(x) = 2$

θ	0.1	0.01	0.001
$g(\theta)$	0.998334	0.999983	0.999999

θ	0.0001	0.00001	0.000001
$g(\theta)$	0.999999	0.999999	0.999999

۲.۱۷) (ب)

θ	-0.1	-0.01	-0.001
$g(\theta)$	0.998334	0.999983	0.999999

θ	-0.0001	-0.00001	-0.000001
$g(\theta)$	0.999999	0.999999	0.999999

(ج) $\lim_{\theta\to 0} g(\theta) = 1$

۲.۱۹) (ا)

x	0.9	0.99	0.999
$f(x)$	0.348678	0.366032	0.367695

x	0.9999	0.99999	0.999999
$f(x)$	0.367861	0.367877	0.367879

۲.۱۹ (ب)

x	1.1	1.01	1.001
$f(x)$	0.385543	0.369711	0.368063

x	1.0001	1.00001	1.000001
$f(x)$	0.367897	0.367881	0.367878

(ج) $\lim_{x\to 1} f(x) \approx 0.36788$

۲.۲۱) 4

۲.۲۳) 0

۲.۲۵) 9

۲.۲۷) $\frac{\pi}{2}$

۲.۲۹) (ا) 19 (ب) 1

۲.۳۱) (ا) $-\frac{4}{\pi}$ (ب) $-\frac{3\sqrt{3}}{\pi}$

۲.۳۳) 1

۲۶۳۷۲ (۲.۱۰۲) $\delta = \frac{1}{2}$



۲۶۳۷۳ (۲.۱۰۴) $\delta = \frac{1}{18}$

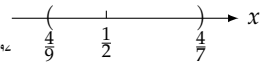

۲۶۳۹۷ (۲.۱۷۴)

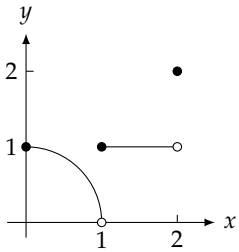

۲۶۳۷۴ (۲.۱۰۶) $\delta = 0.1$

۲۶۳۷۵ (۲.۱۰۸) $\delta = \frac{7}{16}$

۲۶۳۷۶ (۲.۱۱۰) $\delta = \sqrt{5} - 2$

۲۶۳۷۷ (۲.۱۱۲) $\delta = 0.36$

۲۶۳۷۸ (۲.۱۱۴) $\delta = 0.01, \quad (3.99, 4.01)$

۲۶۳۷۹ (۲.۱۱۶) $\delta = 0.19, \quad (-0.19, 0.21)$

۲۶۳۸۰ (۲.۱۱۸) $\delta = 5, \quad (3, 15)$

۲۶۳۸۱ (۲.۱۲۰) $\delta = \frac{2}{3}, \quad (\frac{10}{3}, 5)$

۲۶۳۸۲ (۲.۱۲۲) $\delta = \sqrt{4.5} - 2 \approx 0.12, \ (-\sqrt{4.5}, -\sqrt{3.5})$

۲۶۳۸۳ (۲.۱۲۴) $\delta = \sqrt{17} - 4 \approx 0.12, \quad (\sqrt{15}, \sqrt{17})$

۲۶۳۸۴ (۲.۱۲۶) $\delta = \frac{0.03}{m}, \quad (2 - \frac{0.03}{m}, 2 + \frac{0.03}{m})$

۲۶۳۸۵ (۲.۱۲۸) $\delta = \frac{c}{m}, \quad (\frac{1}{2} - \frac{c}{m}, \frac{1}{2} + \frac{c}{m})$

۲۶۳۸۶ (۲.۱۳۰) $\delta = 0.01, \quad L = -3$

۲۶۳۸۷ (۲.۱۳۲) $\delta = 0.05, \quad L = 4$

۲۶۳۸۸ (۲.۱۳۴) $\delta = 0.75, \quad L = 4$

۲۶۳۸۹ (۲.۱۵۴) $[8.589, 8.598]$

۲۶۳۹۰ حصہ ۲.۴ صفحہ ۱۲۹

۲۶۳۹۱ (۲.۱۶۸) (ا) $1, 2$،

۲۶۳۹۲ (ب) نہیں $\lim_{x\to 2^+} f(x) \neq \lim_{x\to 2^-} f(x)$

۲۶۳۹۳ (ج) $3, 3$، (د) ہاں، 3

۲۶۳۹۴ (۲.۱۷۰) (ا) نہیں (ب) ہاں، 0 (ج) نہیں

۲۶۳۹۵ (۲.۱۷۲) (ا)

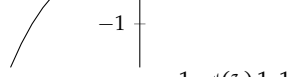

۲۶۳۹۶ (ب) $1, 1$ (ج) ہاں، 1

۲۶۳۹۷ (۲.۱۷۴) (ا) $D: 0 \leq x \leq 2$ ، $R: 0 < y \leq 1$

۲۶۳۹۸

۲۶۳۹۹ (ب) $(0,1) \cup (1,2)$ (ج) $y = 2$ اور $x = 2$

۲۶۴۰۰ (د) $x = 0$

۲۶۴۰۱ (۲.۱۷۶) $\sqrt{3}$

۲۶۴۰۲ (۲.۱۷۸) 1

۲۶۴۰۳ (۲.۱۸۰) $\frac{2}{\sqrt{5}}$

۲۶۴۰۴ (۲.۱۸۲) (ا) 1 (ب) -1

۲۶۴۰۵ (۲.۱۸۴) (ا) 1 (ب) $\frac{2}{3}$

۲۶۴۰۶ (۲.۱۸۶) ∞

۲۶۴۰۷ (۲.۱۸۸) $-\infty$

۲۶۴۰۸ (۲.۱۹۰) $-\infty$

۲۶۴۰۹ (۲.۱۹۲) ∞

۲۶۴۱۰ (۲.۱۹۴) (ا) ∞ (ب) $-\infty$

۲۶۴۱۱ (۲.۱۹۶) ∞

۲۶۴۱۲ (۲.۱۹۸) ∞

۲۶۴۱۳ (۲.۲۰۰) $-\infty$

۲۶۴۱۴ (۲.۲۰۲) (ا) ∞ (ب) $-\infty$ (ج) ∞ (د) ∞

۲۶۴۱۵ (۲.۲۰۴) (ا) $-\infty$ (ب) ∞ (ج) 0 (د) $\frac{3}{2}$

۲۶۴۱۶ (۲.۲۰۶) (ا) $-\infty$ (ب) $\frac{1}{4}$ (ج) $\frac{1}{4}$ (د) $-\infty$ ہوگا۔

۲۶۴۱۷ (۲.۲۰۸) (ا) $-\infty$ (ب) ∞

۲۶۴۱۸ (۲.۲۱۰) (ا) ∞ (ب) ∞ (ج) ∞ (د) ∞

۲۶۴۱۹ (۲.۲۱۶) $\delta = \epsilon^2, \lim_{x\to 5^+} \sqrt{x-5} = 0$

۲۶۴۲۰ (۲.۲۲۰) (ا) 400 (ب) 399 (ج) حد غیر موجود ہے۔

۲۶۴۲۱ (۲.۲۲۶) (ا) ہر مثبت حقیقی عدد B کے لئے ایسا مطابقتی عدد $\delta > 0$ موجود

۲۶۴۲۲ ہے کہ $x_0 - \delta < x < x_0$ میں تمام x کے لئے

۲۶۴۲۳ $f(x) > B$ ہے۔ (ب) ہر منفی حقیقی عدد $-B$ کے لئے ایسا

۲۶۴۲۴ مطابقتی عدد $\delta > 0$ موجود ہے کہ $x_0 < x < x_0 + \delta$

۲۶۴۲۵ میں تمام x کے لئے $f(x) < -B$ ہے۔ (ج) ہر منفی حقیقی

۲۶۴۲۶ عدد $-B$ کے لئے ایسا مطابقتی عدد $\delta > 0$ موجود ہے کہ

۲۶۴۲۷ $x_0 - \delta < x < x_0 + \delta$ میں تمام x کے لئے

۲۶۴۲۸ $f(x) < -B$ ہے۔

۲۶۴۲۹ حصہ ۲.۵ صفحہ ۱۴۷

۲۶۴۳۰ (۲.۲۳۳) نہیں؛ $x = 2$ پر غیر استراری ہے؛ $x = 2$ پر غیر معین ہے۔

۲۴۳۱ ۲.۲۳۵) استمراری

۲۴۳۲ ۲.۲۳۷) (ا)ہاں،(ب)ہاں،(ج)ہاں،(د)ہاں

۲۴۳۳ ۲.۲۳۹) (ا)نہیں،(ب)نہیں

۲۴۳۴ ۲.۲۴۱) 0

۲۴۳۵ ۲.۲۴۳) 1 ناقابل ہٹاؤ؛ 0 قابل ہٹاؤ

۲۴۳۶ ۲.۲۴۵) تمام ماسوائے $x = 2$

۲۴۳۷ ۲.۲۴۷) تمام ماسوائے $x = 3$ اور $x = 1$

۲۴۳۸ ۲.۲۴۹) تمام x

۲۴۳۹ ۲.۲۵۱) تمام ماسوائے $x = 0$

۲۴۴۰ ۲.۲۵۳) تمام x ماسوائے $x = \frac{n\pi}{2}$ جہاں n عدد صحیح ہے۔

۲۴۴۱ ۲.۲۵۵) تمام x ماسوائے $x = \frac{n\pi}{2}$ جہاں n طاق عدد صحیح ہے۔

۲۴۴۲ ۲.۲۵۷) تمام $x > -\frac{3}{2}$

۲۴۴۳ ۲.۲۵۹) تمام x

۲۴۴۴ ۲.۲۶۱) 0

۲۴۴۵ ۲.۲۶۳) 1

۲۴۴۶ ۲.۲۶۵) $\frac{\sqrt{2}}{2}$

۲۴۴۷ ۲.۲۶۷) $g(3) = 6$

۲۴۴۸ ۲.۲۶۹) $f(1) = \frac{3}{2}$

۲۴۴۹ ۲.۲۷۱) $a = \frac{4}{3}$

۲۴۵۰ ۲.۲۹۵) $x \approx 1.8794, -1.5321, -0.3473$

۲۴۵۱ ۲.۲۹۷) $x \approx 1.7549$ ایک جذر حاصل کریں۔

۲۴۵۲ ۲.۲۹۹) $x \approx 3.5156$

۲۴۵۳ ۲.۳۰۱) $x \approx 0.7391$

۲۴۵۴ حصہ ۲.۶ صفحہ ۱۶۰

۲۴۵۵ ۲.۳۰۳) $N_1 : m = -2.25, \quad N_2 : m = 6$

۲۴۵۶ ۲.۳۰۴) $N_1 : m = -2, \quad N_2 : m = 2$

۲۴۵۷ ۲.۳۰۵) $N_1 : m = -1.5, \quad N_2 : m = 0.5$

۲۴۵۸ ۲.۳۰۶) $N_1 : m = 2, \quad N_2 : m = -2$

۲۴۵۹ ۲.۳۰۷) $y = 2x + 5$

۲۴۶۰

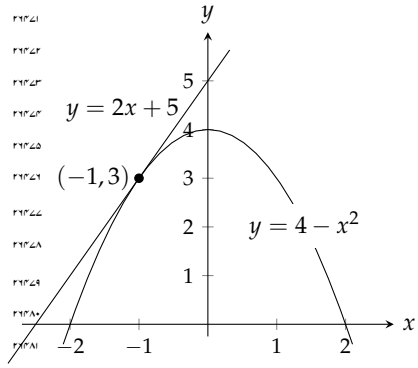

۲۴۶۱ ۲.۳۰۹) $y = x + 1$

۲۴۶۲

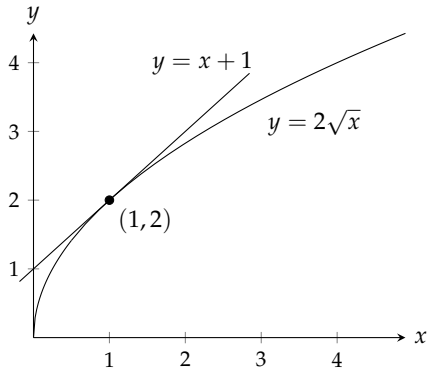

۲۴۶۳ ۲.۳۱۱) $y = 12x + 16$

۲۴۶۴

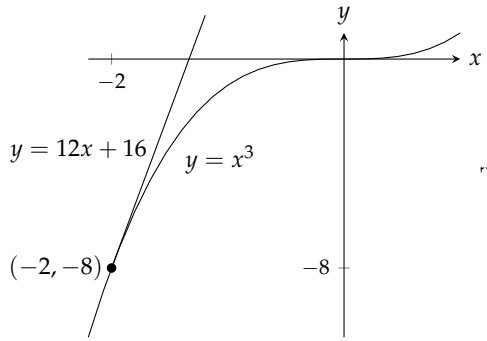

۲۴۶۵ ۲.۳۱۳) $m = 4, \quad y - 5 = 4(x - 2)$

۲۴۶۶ ۲.۳۱۵) $m = -2, \quad y - 3 = -2(x - 3)$

۲۴۶۷ ۲.۳۱۷) $m = 12, \quad y - 8 = 12(t - 2)$

۲۴۶۸ ۲.۳۱۹) $m = \frac{1}{4}, \quad y - 2 = \frac{1}{4}(x - 4)$

۲۴۶۹ ۲.۳۲۱) $m = -10$

۲۴۷۰ ۲.۳۲۳) $m = -\frac{1}{4}$

۲۴۷۱ ۲.۳۲۵) $(-2, -5)$

۲۴۷۲ ۲.۳۲۷) $y = -(x + 1), \quad y = -(x - 3)$

۲۴۷۳ ۲.۳۲۹) $19.6\,\mathrm{m\,s^{-1}}$

۲۴۷۴ ۲.۳۳۱) 6π

۲۴۷۵ ۲.۳۳۳) ہاں

۲۴۷۶ ۲.۳۳۵) ہاں

۲۴۷۷ ۲.۳۳۷) (ا)کہیں نہیں

۲۴۷۸ ۲.۳۳۹) (ا) $x = 0$ پر

۲۴۷۹ ۲.۳۴۱) (ا)کہیں نہیں

۲۴۸۰ ۲.۳۴۳) (ا) $x = 1$ پر

۲۴۸۱ ۲.۳۴۵) (ا) $x = 0$ پر

حصہ ۳.۱ صفحہ ۱۷۸

۳.۱) $-2x, 6, 0, -2$

۳.۳) $-\frac{2}{t^3}, 2, -\frac{1}{4}, -\frac{2}{3\sqrt{3}}$

۳.۵) $\frac{3}{2\sqrt{3\theta}}, \frac{3}{2\sqrt{3}}, \frac{1}{2}, \frac{3}{2\sqrt{2}}$

۳.۷) $6x^2$

۳.۹) $\frac{1}{(2t+1)^2}$

۳.۱۱) $-\frac{1}{2(q+1)\sqrt{q+1}}$

۳.۱۳) $1 - \frac{9}{x^2}, 0$

۳.۱۵) $3t^2 - 2t, 5$

۳.۱۷) $\frac{-4}{(x-2)\sqrt{x-2}}, y - 4 = -\frac{1}{2}(x-6)$

۳.۱۹) 6

۳.۲۱) $\frac{1}{8}$

۳.۲۳) -1

۳.۲۵) $-\frac{1}{4}$

۳.۲۷) شکل ۳.۱۲-ب

۳.۲۸) شکل ۳.۱۲-د

۳.۲۹) شکل ۳.۱۲-ج

۳.۳۰) شکل ۳.۱۲-ا

۳.۳۱) (ا) $x = 0, 1, 4$؛ (ب)

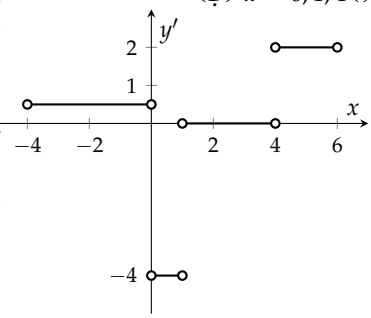

۳.۳۳) چونکہ $\lim_{x\to 0^+} f'(x) = 1$ جبکہ $\lim_{x\to 0^-} f'(x) = 0$ ہے لہٰذا $x = 0$ پر $f(x)$ ناقابل تفرق ہے۔

۳.۳۵) چونکہ $\lim_{x\to 1^+} f'(x) = 2$ جبکہ $\lim_{x\to 1^-} f'(x) = \frac{1}{2}$ ہے لہٰذا $x = 1$ پر $f(x)$ ناقابل تفرق ہے۔

۳.۳۷) (ا) $-3 \le x \le 2$ (ب) کوئی نہیں (ج) کوئی نہیں۔

۳.۳۹) (ا) $-3 \le x < 0, 0 < x \le 3$ (ب) کوئی نہیں (ج) $x = 0$

۳.۴۱) (ا) $-1 \le x < 0, 0 < x \le 2$ (ب) $x = 0$ (ج) کوئی نہیں۔

۳.۴۳) (ا) $y' = -2x$ (ج) $x < 0, x = 0, x > 0$ (د) $-\infty < x < 0, 0 < x < \infty$

۳.۴۵) (ا) $y' = x^2$، (ب)

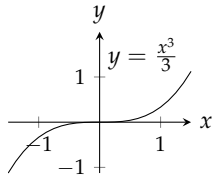

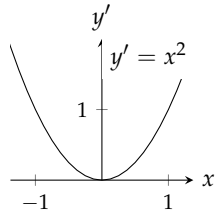

(ج) $x \neq 0$ ، $x = 0$ ، کوئی نہیں، (د) $-\infty < x < \infty$ ، کوئی نہیں۔

۳.۴۷) $y' = 3x^2$ کبھی منفی نہیں ہوگا۔

۳.۴۹) ہاں، $y + 16 = -(x-3)$ نقطہ $(3, -16)$ پر مماس ہے۔

۳.۵۱) نہیں، چونکہ تفاعل $y = \lfloor x \rfloor$ متوسط قیمت خاصیت پر پورا نہیں اترتا۔

۳.۵۳) ہاں؛ $(-f)'(x) = -(f'(x))$

۳.۵۵) $g(t) = mt$ اور $h(t) = t$ کے لئے $\lim_{t\to 0} \frac{g(t)}{h(t)} = m$ ہوگا جو غیر صفر ہو سکتا ہے۔

حصہ ۳.۲ صفحہ ۱۹۷

۳.۶۶) $y' = -2x, \quad y'' = -2$

۳.۶۸) $s' = 15t^2 - 15t^4, \quad s'' = 30t - 60t^3$

۳.۷۰) $y' = 4x^2 - 1, \quad y'' = 8x$

۳.۷۲) $w' = -6z^{-3} + \frac{1}{z^2}, \quad w'' = 18z^{-4} - \frac{2}{z^3}$

۳.۷۴) $y' = 12x - 10 + 10x^{-3}, \quad y'' = 12 - 30x^{-4}$

۳.۷۶) $r' = -\frac{2}{3s^3} + \frac{5}{2s^2}, \quad r'' = \frac{2}{s^4} - \frac{5}{s^3}$

۳.۷۸) $y' = -5x^4 + 12x^2 - 2x - 3$

۳.۸۰) $y' = 3x^2 + 10x + 2 - \frac{1}{x^2}$

۳.۸۲) $y' = \frac{-19}{(3x-2)^2}$

۳.۸۴) $g'(x) = \frac{x^2+x+4}{(x+0.5)^2}$

۳.۸۶) $\frac{dv}{dt} = \frac{t^2-2t-1}{(1+t^2)^2}$

۳.۸۸) $f'(s) = \frac{1}{\sqrt{s}(\sqrt{s}+1)^2}$

۳.۹۰) $v' = -\frac{1}{x^2} + 2x^{-3/2}$

۳.۹۲) $y' = \frac{-4x^3-3x^2+1}{(x^2-1)^2(x^2+x+1)^2}$

۳.۹۴) $y' = 2x^3 - 3x - 1, y'' = 6x^2 - 3,$
$y''' = 12x, y^{(4)} = 12$ جبکہ تمام $n \geq 5$ کے لئے
$y^{(n)} = 0$ ذیل ہوگا۔

۳.۹۶) $y' = 2x - 7x^{-2}, \quad y'' = 2 + 14x^{-3}$

۳.۹۸) $\frac{\mathrm{d}r}{\mathrm{d}\theta} = 3\theta^{-4}, \quad \frac{\mathrm{d}^2 r}{\mathrm{d}\theta^2} = -12\theta^{-5}$

۳.۱۰۰) $\frac{\mathrm{d}w}{\mathrm{d}z} = -z^{-2} - 1, \quad \frac{\mathrm{d}^2 w}{\mathrm{d}z^2} = 2z^{-3}$

۳.۱۰۲) $\frac{\mathrm{d}p}{\mathrm{d}q} = \frac{1}{6}q + \frac{1}{6}q^{-3} + q^{-5},$
$\frac{\mathrm{d}^2 p}{\mathrm{d}q^2} = \frac{1}{6} - \frac{1}{2}q^{-4} - 5q^{-6}$

۳.۱۰۴) (ا) 13، (ب) -7، (ج) $\frac{7}{25}$، (د) 20

۳.۱۰۶) (ا) $y = -\frac{x}{8} + \frac{5}{4}$، (ب) $(0,1)$ پر $m = -4$،
(ج) $y = 8x - 15$، $y = 8x + 17$

۳.۱۰۸) $y = 4x, y = 2$

۳.۱۱۰) $a = 1, b = 1, c = 0$

۳.۱۱۲) (ا) $y = 2x + 2$، (ج) $(2,6)$

۳.۱۱۴) $\frac{\mathrm{d}P}{\mathrm{d}H} = -\frac{nRT}{(H-nb)^2} + \frac{2an^2}{H^3}$

۳.۱۱۶) قاعدہ حاصل ضرب اب مستقل مضرب کا قاعدہ ہوگا، لہٰذا دوسرا قاعدہ پہلے قاعدے میں موجود ہے۔

۳.۱۲۰) (ا) $\frac{3}{2}x^{1/2}$، (ب) $\frac{5}{2}x^{3/2}$، (ج) $\frac{7}{2}x^{5/2}$،
(د) $\frac{\mathrm{d}}{\mathrm{d}x}(x^{n/2}) = \frac{n}{2}x^{(n/2)-1}$

حصہ ۳.۳ صفحہ ۲۱۱

۳.۱۲۱) (ا) $80\,\mathrm{m}$، (ب) $8\,\mathrm{m\,s^{-1}}$، $0\,\mathrm{m\,s^{-1}}$، $16\,\mathrm{m\,s^{-1}}$؛
(ج) سمت تبدیلی نہیں ہوتی، $1.6\,\mathrm{m\,s^{-2}}$، $1.6\,\mathrm{m\,s^{-2}}$

۳.۱۲۳) (ا) $-9\,\mathrm{m}$، (ب) $-3\,\mathrm{m\,s^{-1}}$، $3\,\mathrm{m\,s^{-1}}$،
(ج) $-12\,\mathrm{m\,s^{-2}}$، $6\,\mathrm{m\,s^{-2}}$؛ $12\,\mathrm{m\,s^{-1}}$
سمت تبدیلی نہیں ہوتی۔

۳.۱۲۵) (ا) $-20\,\mathrm{m}$، (ب) $-5\,\mathrm{m\,s^{-1}}$، $45\,\mathrm{m\,s^{-1}}$،
(ج) $\frac{4}{25}\,\mathrm{m\,s^{-2}}$، $140\,\mathrm{m\,s^{-2}}$؛ $0.2\,\mathrm{m\,s^{-1}}$
سمت تبدیل نہیں ہوتی۔

۳.۱۲۷) (ا) $a(1) = -6\,\mathrm{m\,s^{-2}}$، $a(3) = 6\,\mathrm{m\,s^{-2}}$
(ب) $v(2) = 3\,\mathrm{m\,s^{-1}}$ (ج) $6\,\mathrm{m}$

۳.۱۲۹) مرتخ: $7.5\,\mathrm{s}$، مشتری: $1.2\,\mathrm{s}$

۳.۱۳۱) (ا) $2.4 - 9.8t\,\mathrm{m\,s^{-1}}$، (ب) $-9.8\,\mathrm{m\,s^{-2}}$
(ج) $29.4\,\mathrm{m}$ (د) 0.7 سیکنڈ اوپر جانب اور $2.4\,\mathrm{s}$ سیکنڈ نیچے رخ (ہ) $4.9\,\mathrm{s}$

۳.۱۳۳) چاند پر 320 سیکنڈ، زمین پر 52 سیکنڈ؛ چاند پر 20287 میٹر، زمین پر 3297 میٹر

۳.۱۳۵) (ا) $9.8t\,\mathrm{m\,s^{-1}}$ (ب) $9.8\,\mathrm{m\,s^{-2}}$

۳.۱۳۷) (ا) $t = 2, t = 7$ (ب) $3 \leq t \leq 6$
(ج)

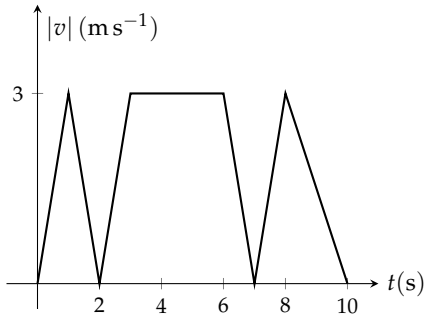

(د)

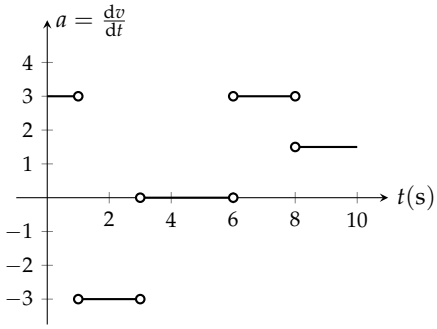

۳.۱۳۹) (ا) $60\,\mathrm{m\,s^{-1}}$ (ب) $2\,\mathrm{s}$
(ج) $t = 8.12\,\mathrm{s}$، $v = 0\,\mathrm{m\,s^{-1}}$
(د) $12\,\mathrm{s}$، $v = -38\,\mathrm{m\,s^{-1}}$
(ہ) $10\,\mathrm{s}$ (و) لمحہ $t = 2\,\mathrm{s}$ پر
(ز) $2\,\mathrm{s}$ تا $12\,\mathrm{s}$

۳.۱۴۲) مقام بالمقابل وقت شکل-ج، رفتار بالمقابل وقت شکل-ب اور اسراع بالمقابل وقت شکل-ا ہیں۔

۳.۱۴۳) (ا) 110 روپیہ فی مشین (ب) 80 روپیہ (ج) 79.9 روپیہ

۳.۱۴۵) (ا) 10^4 جرثومے فی گھنٹہ؛ (ب) 0 جرثومے فی گھنٹہ؛ (ج) -10^4 جرثومے فی گھنٹہ

۳.۱۴۷) (ا) $5(\frac{t}{60} - 1)$ (ب) $t = 0$ پر گہرائی تیز ترین گھٹتی ہے جب شرح $\frac{\mathrm{d}y}{\mathrm{d}t} = -5$ ہے اور $t = 60$ پر گھٹنے کی کم تر شرح $\frac{\mathrm{d}y}{\mathrm{d}t} = 0$ ہوگی۔

۳.۱۴۹) جہاز 25 سیکنڈ بعد اڑتا ہے اور اس دوران یہ $694\,\mathrm{m}$ فاصلہ طے کرتا ہے۔

۲۶۲۰۳ (۳.۱۵۲ (ا) $t = 6.25\,\mathrm{s}$؛ (ب) $[0, 6.25)$ پر اوپر رخ اور

۲۶۲۰۴ (د)؛ $t = 6.25\,\mathrm{s}$ (ج) پر نیچے رخ؛ $(6.25, 12.5]$

۲۶۲۰۵ پر رفتار بڑھتی ہے جبکہ $[0, 6.25)$ پر رفتار

۲۶۲۰۶ گھٹتی ہے؛ (د) $t = 0, 12.5$ پر تیز تر اور $t = 6.25$ پر آہستہ ترین (۳.۲۰۳

۲۶۲۰۷ $t = 6.25\,\mathrm{s}$ (و)

۲۶۲۰۸ (۳.۱۵۴ (ا) $t = \frac{6\mp\sqrt{15}}{3}$؛ (ب) $\left(\frac{6-\sqrt{15}}{3}, \frac{6+\sqrt{15}}{3}\right)$

۲۶۲۰۹ پر بائیں رخ اور $\left[0, \frac{6-\sqrt{15}}{3}\right) \cup \left(\frac{6+\sqrt{15}}{3}, 4\right]$ پر دائیں

۲۶۲۱۰ رخ؛ (ج) $t = \frac{6\mp\sqrt{15}}{3}$ (د)؛ $\left(\frac{6-\sqrt{15}}{3}, 2\right) \cup$

۲۶۲۱۱ $\left[0, \frac{6-\sqrt{15}}{3}\right) \cup$ پر رفتار بڑھتی ہے جبکہ $\left(\frac{6+\sqrt{15}}{3}, 4\right]$

۲۶۲۱۲ $\left(2, \frac{6+\sqrt{15}}{3}\right)$ پر رفتار گھٹتی ہے؛ (و) $t = 0, 4$ پر تیز ترین (۳.۲۰۵

۲۶۲۱۳ اور $t = \frac{6\mp\sqrt{15}}{3}$ پر آہستہ ترین؛ (و) $t = \frac{6+\sqrt{15}}{3}$

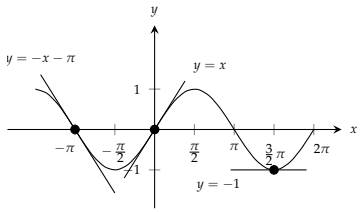

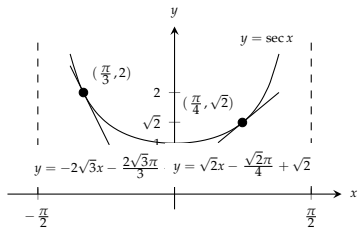

۲۶۲۱۴ حصہ ۳.۴ صفحہ ۲۲۹

۲۶۲۱۵ (۳.۱۵۵ $y' = -10 - 3\sin x$

۲۶۲۱۶ (۳.۱۵۷ $y' = -\csc x \cot x - \frac{2}{\sqrt{x}}$

۲۶۲۱۷ (۳.۱۵۹ $y' = 0$

۲۶۲۱۸ (۳.۱۶۱ $\frac{-\csc^2 x}{(1+\cot x)^2}$

۲۶۲۱۹ (۳.۱۶۳ $4\tan x \sec x - \csc^2 x$

۲۶۲۲۰ (۳.۱۶۵ $x^2 \cos x$

۲۶۲۲۱ (۳.۱۶۷ $\sec^2 t - 1$

۲۶۲۲۲ (۳.۱۶۹ $\frac{-2\csc t \cot t}{(1-\csc t)^2}$

۲۶۲۲۳ (۳.۱۷۱ $-\theta(\theta\cos\theta + 2\sin\theta)$

۲۶۲۲۴ (۳.۱۷۳ $\sec\theta\csc\theta(\tan\theta - \cot\theta) = \sec^2\theta -$

۲۶۲۲۵ $\csc^2\theta$

۲۶۲۲۶ (۳.۱۷۵ $\sec^2 q$

۲۶۲۲۷ (۳.۱۷۷ $\sec^2 q$

۲۶۲۲۸ (۳.۱۷۹ (ا) $2\csc^3 x - \csc x$ (ب) $2\sec^3 x - \sec x$

۲۶۲۲۹ (۳.۱۸۱ 0

۲۶۲۳۰ (۳.۱۸۳ -1

۲۶۲۳۱ (۳.۱۸۵ 0

۲۶۲۳۲ (۳.۱۸۷ 1

۲۶۲۳۳ (۳.۱۸۹ $3/4$

۲۶۲۳۴ (۳.۱۹۱ 2

۲۶۲۳۵ (۳.۱۹۳ $1/2$

۲۶۲۳۶ (۳.۱۹۵ 2

۲۶۲۳۷ (۳.۱۹۷ 1

۲۶۲۳۸ (۳.۱۹۹ $1/2$

۲۶۲۳۹ (۳.۲۰۱ $3/8$

۲۶۲۴۰ (۳.۲۰۷ ہاں، نقطہ $x = \pi$ پر

۲۶۲۴۱ (۳.۲۰۹ نہیں

۲۶۲۴۲ (۳.۲۱۱ $(-\pi/4, -1); (\pi/4, 1)$

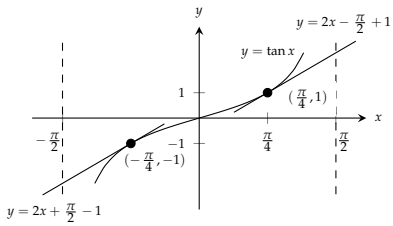

۲۶۲۴۳ (۳.۲۱۳ (ا) $y = -x + \pi/2 + 2$، (ب) $y = 4 - \sqrt{3}$

۲۶۲۴۴ (۳.۲۱۵ $-\sqrt{2}\mathrm{m\,s^{-1}}, \sqrt{2}\mathrm{m\,s^{-1}}, \sqrt{2}\mathrm{m\,s^{-2}}, \sqrt{2}\mathrm{m\,s^{-3}}$

۲۶۲۴۸ (۳.۲۱۷ $c = 9$

۲۶۲۴۹ (۳.۲۱۹ $\sin x$

۲۶۲۵۰ حصہ ۳.۵ صفحہ ۲۴۲

۲۶۲۵۱ (۳.۲۳۰ $12x^3$

۲۶۲۵۲ (۳.۲۳۲ $3\cos(3x+1)$

۲۶۲۵۳ (۳.۲۳۴ $-\sin(\sin x)\cos x$

۲۶۲۵۴ (۳.۲۳۶ $10\sec^2(10x-5)$

۲۶۲۵۵ (۳.۲۳۸ $u = 2x+1$ لیتے ہوئے اور $y = u^5$

۲۶۲۵۶ $\frac{\mathrm{d}y}{\mathrm{d}x} = \frac{\mathrm{d}y}{\mathrm{d}u}\frac{\mathrm{d}u}{\mathrm{d}x} = 5u^4 \cdot 2 = 10(2x+1)^4$

۲۶۲۵۷ ہوگا۔

۲۶۲۵۸ (۳.۲۴۰ $u = (1 - x/7)$ لے کر، $y = u^{-7}$،

۲۶۲۵۹ $\frac{\mathrm{d}y}{\mathrm{d}x} = \frac{\mathrm{d}y}{\mathrm{d}u}\frac{\mathrm{d}u}{\mathrm{d}x} = -7u^{-8} \cdot \left(\frac{1}{7}\right) =$

۲۶۲۶۰ $(1 - x/7)^{-8}$

۲۶۶۶۱ (۳.۲۴۲) $u = x^2/8 + x - 1/x$ لے کر، $y = u^4$ ، حصہ ۳.۶ صفحہ ۲۵۷

۲۶۶۶۲ $\frac{dy}{dx} = \frac{dy}{du}\frac{du}{dx} =$

۲۶۶۶۳ $4(x^2/8 + x - 1/x)^3(x/4 + 1 + 1/x^2)$

۲۶۶۶۴ (۳.۲۴۴) $u = \tan x$ لے کر $y = \sec u$ اور

۲۶۶۶۵ $\frac{dy}{dx} = \frac{dy}{du}\frac{du}{dx} = (\sec u \tan u)(\sec^2 x) =$

۲۶۶۶۶ $\sec(\tan x)\tan(\tan x)\sec^2 x$

۲۶۶۶۷ (۳.۲۴۶) $u = \sin x$ لے کر $y = u^3$ اور

۲۶۶۶۸ $\frac{dy}{dx} = \frac{dy}{du}\frac{du}{dx} = 3u^2\cos x =$

۲۶۶۶۹ $3\sin^2 x\cos x$

۲۶۷۰۰ (۳.۲۴۸) $-\frac{1}{2\sqrt{3-t}}$

۲۶۷۰۱ (۳.۲۵۰) $\frac{4}{\pi}(\cos 3t - \sin 5t)$

۲۶۷۰۲ (۳.۲۵۲) $\frac{\csc\theta}{\cot\theta + \csc\theta}$

۲۶۷۰۳ (۳.۲۵۴) $2x\sin^4 x + 4x^2\sin^3 x\cos x +$

۲۶۷۰۴ $\cos^{-2} x + 2x\cos^{-3} x\sin x$

۲۶۷۰۵ (۳.۲۵۶) $(3x-2)^6 - \frac{1}{x^3(4-\frac{1}{2x^2})^2}$

۲۶۷۰۶ (۳.۲۵۸) $\frac{(4x+3)^3(4x+7)}{(x+1)^4}$

۲۶۷۰۷ (۳.۲۶۰) $\sqrt{x}\sec^2(2\sqrt{x}) + \tan(2\sqrt{x})$

۲۶۷۰۸ (۳.۲۶۲) $\frac{2\sin\theta}{(1+\cos\theta)^2}$

۲۶۷۰۹ (۳.۲۶۴) $\frac{dr}{d\theta} = -2\sin(\theta^2)\sin 2\theta +$

۲۶۷۱۰ $2\theta\cos(2\theta)\cos(\theta^2)$

۲۶۷۱۱ (۳.۲۶۶) $\frac{dq}{dt} = (\frac{t+2}{2(t+1)^{3/2}})\cos(\frac{t}{\sqrt{t+1}})$

۲۶۷۱۲ (۳.۲۶۸) $2\pi\sin(\pi t - 2)\cos(\pi t - 2)$

۲۶۷۱۳ (۳.۲۷۰) $\frac{8\sin 2t}{(1+\cos 2t)^5}$

۲۶۷۱۴ (۳.۲۷۲) $-2\cos(\cos(2t-5))\sin(2t-5)$

۲۶۷۱۵ (۳.۲۷۴) $(1+\tan^4(\frac{t}{12}))^2(\tan^3(\frac{t}{12})\sec^2(\frac{t}{12}))$

۲۶۷۱۶ (۳.۲۷۶) $\frac{-t\sin(t^2)}{\sqrt{1+\cos(t^2)}}$

۲۶۷۱۷ (۳.۲۷۸) $\frac{6}{x^3}(1+\frac{1}{x})(1+\frac{2}{x})$

۲۶۷۱۸ (۳.۲۸۰) $2\csc^2(3x-1)\cot(3x-1)$

۲۶۷۱۹ (۳.۲۸۲) $\frac{5}{2}$

۲۶۷۲۰ (۳.۲۸۴) $-\pi/4$

۲۶۷۲۱ (۳.۲۸۶) 0

۲۶۷۲۲ (۳.۲۸۸) (ا) $2/3$ ، (ب) $2\pi + 5$ ، (ج) -8π ، (د) $37/6$ ،

۲۶۷۲۳ (ہ) -1 ، (و) $\frac{\sqrt{2}}{24}$ ، (ز) $5/32$ ، (ح) $\frac{-5}{3\sqrt{17}}$

۲۶۷۲۴ (۳.۲۹۰) 5

۲۶۷۲۵ (۳.۲۹۲) (ا) 1 ، (ب) 1

۲۶۷۲۶ (۳.۲۹۴) (ا) $y = \pi x + 2 - \pi$ ، (ب) $\pi/2$

۲۶۷۲۷ (۳.۲۹۶) سمتی رفتار دگنی، اسراع چار گنا اور جھٹکا آٹھ گنا ہو جاتا ہے۔

۲۶۷۲۸ (۳.۲۹۸) $v = 0.4\,\mathrm{m\,s^{-1}}$, $a = -\frac{4}{125}\,\mathrm{m\,s^{-2}}$

۲۶۷۲۹ (۳.۳۰۱) $\frac{9}{4}x^{5/4}$

۲۶۷۳۰ (۳.۳۰۳) $\frac{2^{1/3}}{3x^{2/3}}$

۲۶۷۳۱ (۳.۳۰۵) $\frac{7}{2(x+6)^{1/2}}$

۲۶۷۳۲ (۳.۳۰۷) $-(2x+5)^{-3/2}$

۲۶۷۳۳ (۳.۳۰۹) $\frac{2x^2+1}{(x^2+1)^{1/2}}$

۲۶۷۳۴ (۳.۳۱۱) $\frac{ds}{dt} = \frac{2}{7}t^{-5/7}$

۲۶۷۳۵ (۳.۳۱۳) $\frac{dy}{dt} = -\frac{4}{3}(2t+5)^{-5/3}\cos[(2t+5)^{-2/3}]$

۲۶۷۳۶ (۳.۳۱۵) $f'(x) = \frac{-1}{4\sqrt{x(1-\sqrt{x})}}$

۲۶۷۳۷ (۳.۳۱۷) $h'(\theta) = -\frac{2}{3}(\sin 2\theta)(1+\cos 2\theta)^{-2/3}$

۲۶۷۳۸ (۳.۳۱۹) $\frac{-2xy-y^2}{x^2+2xy}$

۲۶۷۳۹ (۳.۳۲۱) $\frac{1-2y}{2x+2y-1}$

۲۶۷۴۰ (۳.۳۲۳) $\frac{-2x^3+3x^2y-xy^2+x}{x^2y-x^3+y}$

۲۶۷۴۱ (۳.۳۲۵) $\frac{1}{y(x+1)^2}$

۲۶۷۴۲ (۳.۳۲۷) $\cos^2 y$

۲۶۷۴۳ (۳.۳۲۹) $\frac{-\cos^2(xy)-y}{x}$

۲۶۷۴۴ (۳.۳۳۱) $\frac{-y^2}{y\sin(\frac{1}{y})-\cos(\frac{1}{y})+xy}$

۲۶۷۴۵ (۳.۳۳۳) $-\frac{\sqrt{r}}{\sqrt{\theta}}$

۲۶۷۴۶ (۳.۳۳۵) $\frac{-r}{\theta}$

۲۶۷۴۷ (۳.۳۳۷) $y' = -\frac{x}{y}$, $y'' = \frac{-y^2-x^2}{y^3}$

۲۶۷۴۸ (۳.۳۳۹) $y' = \frac{x+1}{y}$, $y'' = \frac{y^2-(x+1)^2}{y^3}$

۲۶۷۴۹ (۳.۳۴۱) $y' = \frac{\sqrt{y}}{\sqrt{y}+1}$, $y'' = \frac{1}{2(\sqrt{y}+1)^3}$

۲۶۷۵۰ (۳.۳۴۳) -2

۲۶۷۵۱ (۳.۳۴۵) $(-2,1) : m = -1$, $(-2,-1) : m = 1$

۲۶۷۵۲ (۳.۳۴۷) (ا) $y = \frac{7}{4}x - \frac{1}{2}$ ، (ب) $y = -\frac{4}{7}x + \frac{29}{7}$

۲۶۷۵۳ (۳.۳۴۹) (ا) $y = 3x + 6$ ، (ب) $y = -\frac{1}{3}x + \frac{8}{3}$

۲۶۷۵۴ (۳.۳۵۱) (ا) $y = \frac{6}{7}x + \frac{6}{7}$ ، (ب) $y = -\frac{7}{6}x - \frac{7}{6}$

۲۶۷۵۵ (۳.۳۵۳) (ا) $y = -\frac{\pi}{2}x + \pi$ ، (ب) $y = \frac{2}{\pi} - \frac{2}{\pi} + \frac{\pi}{2}$

۲۶۷۵۶ (۳.۳۵۵) (ا) $y = 2\pi x - 2\pi$ ، (ب) $y = -\frac{x}{2\pi} + \frac{1}{2\pi}$

۲۶۷۵۷ (۳.۳۵۷) نقطہ $(-\sqrt{7}, 0)$ اور $\sqrt{7}, 0$ ، ڈھلوان: -2

۲۶۷۵۸ (۳.۳۵۹) $(\frac{\sqrt{3}}{4}, \frac{\sqrt{3}}{2})$ پر

۲۶۷۵۹ $m = -1$ ، $(\frac{\sqrt{3}}{4}, \frac{1}{2})$ پر $m = \sqrt{3}$

۲۶۷۳۱ (۳.۳۷۱ $(3,2) : m = -\frac{27}{8}; (-3,-2) : m =$

۲۶۷۳۲ $\frac{27}{8}; (3,2) : m = \frac{27}{8};$

۲۶۷۳۳ $(3,-2) : m = -\frac{27}{8}$

۲۶۷۳۴ (۳.۳۷۳ (ا)غلط،(ب)درست،(ج)درست،(د)درست

۲۶۷۳۵ (۳.۳۷۵ $(3,-1)$

۲۶۷۳۶ (۳.۳۷۹ $\frac{dy}{dx} = -\frac{y^3+2xy}{x^2+3xy^2},$

۲۶۷۳۷ $\frac{dx}{dy} = -\frac{x^2+3xy^2}{y^3+2xy}, \frac{dx}{dy} = -\frac{1}{dy/dx}$

۲۶۷۳۸ حصہ ۳.۷ صفحہ ۲۶۷

۲۶۷۳۹ (۳.۳۹۱ $\frac{dS}{dt} = 2\pi r\frac{dr}{dt}$

۲۶۷۴۰ (۳.۳۹۳ (ا) $\frac{dH}{dt} = \pi r^2\frac{dh}{dt}$، (ب) $\frac{dH}{dt} = 2\pi rh\frac{dr}{dt}$،

۲۶۷۴۱ (ج) $\frac{dH}{dt} = \pi r^2\frac{dh}{dt} + 2\pi rh\frac{dr}{dt}$

۲۶۷۴۲ (۳.۳۹۵ (ا) $1\,\mathrm{V\,s^{-1}}$، (ب) $-\frac{1}{3}\,\mathrm{A\,s^{-1}}$،

۲۶۷۴۳ (ج) $\frac{dR}{dt} = \frac{1}{I}\left(\frac{dV}{dt} - \frac{V}{I}\frac{dI}{dt}\right)$، (د) $\frac{3}{2}\,\Omega\,\mathrm{s^{-1}}$،

۲۶۷۴۴ مزاحمت بڑھ رہی ہے۔

۲۶۷۴۵ (۳.۳۹۷ (ا) $\frac{dS}{dt} = \frac{x}{\sqrt{x^2+y^2}}\frac{dx}{dt}$،

۲۶۷۴۶ (ب) $\frac{dS}{dt} = \frac{x}{\sqrt{x^2+y^2}}\frac{dx}{dt} + \frac{y}{\sqrt{x^2+y^2}}\frac{dy}{dt}$،

۲۶۷۴۷ (ج) $\frac{dx}{dt} = -\frac{y}{x}\frac{dy}{dt}$

۲۶۷۴۸ (۳.۳۹۹ (ا) $\frac{dS}{dt} = \frac{1}{2}ab\cos\theta\frac{d\theta}{dt}$،

۲۶۷۴۹ (ب) $\frac{dS}{dt} = \frac{1}{2}ab\cos\theta\frac{d\theta}{dt} + \frac{1}{2}b\sin\theta\frac{da}{dt}$،

۲۶۷۵۰ (ج) $\frac{dS}{dt} = \frac{1}{2}ab\cos\theta\frac{d\theta}{dt} + \frac{1}{2}b\sin\theta\frac{da}{dt} +$

۲۶۷۵۱ $\frac{1}{2}a\sin\theta\frac{db}{dt}$

۲۶۷۵۲ (۳.۴۰۱ (ا) $14\,\mathrm{cm^2\,s^{-1}}$ سے بڑھتا ہے؛

۲۶۷۵۳ (ب) $0\,\mathrm{cm\,s^{-1}}$، مستقل؛

۲۶۷۵۴ (ج) $-\frac{14}{13}\,\mathrm{cm\,s^{-1}}$، گھٹ رہا ہے۔

۲۶۷۵۵ (۳.۴۰۳ (ا) $\frac{-3\sqrt{7}}{14}\,\mathrm{m\,s^{-1}}$، (ب) $\frac{-\sqrt{7}}{14}\,\mathrm{m^2\,s^{-1}}$

۲۶۷۵۶ (۳.۴۰۵ $20\,\mathrm{m\,s^{-1}}$

۲۶۷۵۷ (۳.۴۰۷ (ا) $\frac{dh}{dt} = 11.19\,\mathrm{cm\,min^{-1}}$،

۲۶۷۵۸ (ب) $\frac{dr}{dt} = 14.92\,\mathrm{cm\,min^{-1}}$

۲۶۷۵۹ (۳.۴۰۹ (ا) $-\frac{1}{24\pi}\,\mathrm{m\,min^{-1}}$، (ب) $r =$

۲۶۷۶۰ $\sqrt{26y-y^2}\,\mathrm{m}$، (ج) $\frac{dr}{dt} = -\frac{5}{288\pi}\,\mathrm{m\,min^{-1}}$

۲۶۷۶۱ (۳.۴۱۱ $1\,\mathrm{m/min}$، $40\pi\,\mathrm{m^2\,min^{-1}}$

۲۶۷۶۲ (۳.۴۱۳ $11\,\mathrm{m\,s^{-1}}$

۲۶۷۶۳ (۳.۴۱۵ $\frac{466}{1681}\,\mathrm{L\,min^{-1}}$ سے بڑھ رہا ہے۔

۲۶۷۶۴ (۳.۴۱۷ $1\,\mathrm{rad\,s^{-1}}$

۲۶۷۶۵ (۳.۴۱۹ $-5\,\mathrm{m\,s^{-1}}$

۲۶۷۶۶ (۳.۴۲۱ $490\,\mathrm{m\,s^{-1}}$

۲۶۷۶۷ (۳.۴۲۳ $\frac{dr}{dt} = 55\,\mu\mathrm{m\,s^{-1}}, \frac{dS}{dt} = 1.66\,\mathrm{cm^2\,s^{-1}}$

۲۶۷۶۸ (۳.۴۲۵ $58.9\,\mathrm{cm/min}$

۲۶۷۶۹ (۳.۴۲۷ (ا) $\frac{-12}{\sqrt{13}}\,\mathrm{m\,s^{-1}}$، (ب) $\frac{d\theta_1}{dt} = -0.138\,\mathrm{rad\,s^{-1}}$،

۲۶۷۷۰ $\frac{d\theta_2}{dt} = 0.138\,\mathrm{rad\,s^{-1}}$

۲۶۷۷۱ (۳.۴۲۹ $4\sqrt{109}\,\mathrm{km\,h^{-1}}$

۲۶۷۷۲

۲۶۷۷۳ حصہ ۴.۱ صفحہ ۲۸۳

۲۶۷۷۴ (۴.۱ $x = c_2$ پر مطلق کم سے کم؛ $x = b$ پر مطلق زیادہ سے زیادہ۔

۲۶۷۷۵ (۴.۳ $x = c$ پر مطلق زیادہ سے زیادہ؛ مطلق کم سے کم غیر موجود۔

۲۶۷۷۶ (۴.۵ $x = a$ پر مطلق کم سے کم؛ $x = c$ پر مطلق زیادہ سے زیادہ۔

۲۶۷۷۷ (۴.۷ $x = -3$ پر مطلق زیادہ سے زیادہ؛ $x = -\frac{19}{3}$ پر مطلق کم سے کم۔

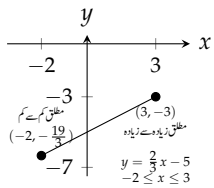

۲۶۷۷۸ (۴.۹ مطلق زیادہ سے زیادہ: 3 ، مطلق کم سے کم: -1 ہے۔

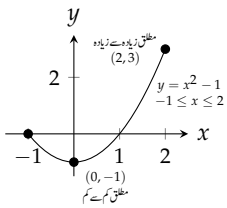

۲۶۷۷۹ (۴.۱۱ مطلق زیادہ سے زیادہ: -0.25 ، مطلق کم سے کم: -4 ہے۔

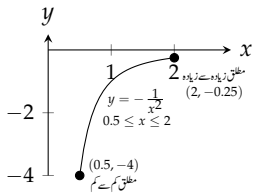

۲۶۷۸۰ (۴.۱۳ مطلق زیادہ سے زیادہ: 2 ، مطلق کم سے کم: -1 ہے۔

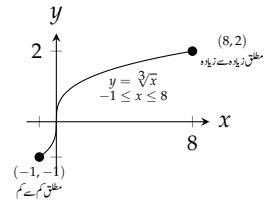

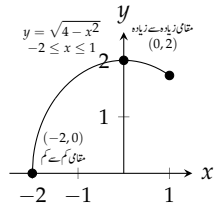

مطلق زیادہ سے زیادہ: 2 ، مطلق کم سے کم: 0 ہے۔

۴.۱۷) مطلق زیادہ سے زیادہ: 1 ، مطلق کم سے کم: -1 ہے۔

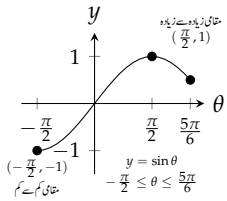

۴.۱۹) مطلق زیادہ سے زیادہ: $\frac{2}{\sqrt{3}}$ ، مطلق کم سے کم: -1 ہے۔

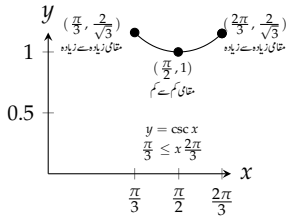

۴.۲۱) مطلق زیادہ سے زیادہ: 2 ، مطلق کم سے کم: -1 ہے۔

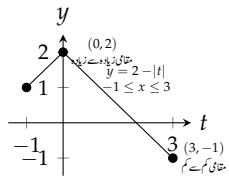

۴.۲۳) $(0,8)$ پر بڑھتا ہے، $(-1,0)$ پر گھٹتا ہے، $x = 8$ پر مطلق زیادہ سے زیادہ 16 اور $x = 0$ پر مطلق کم سے کم 0 ہے۔

۴.۲۵) $(-32,1)$ پر بڑھتا ہے، $\theta = 1$ پر مطلق زیادہ سے زیادہ 1 اور $\theta = -32$ پر مطلق کم سے کم -8 ہے۔

۴.۲۷) (ا) $x = \mp 2$ پر مقامی زیادہ سے زیادہ 0 ہے، $x = 0$ پر مقامی کم سے کم -4 ہے، مطلق زیادہ سے زیادہ 0 اور مطلق کم سے کم -4 ہے۔(ب) $x = -2$ پر مقامی زیادہ سے زیادہ 0 ہے، $x = 0$ پر مقامی کم سے کم -4 ہے، مطلق زیادہ سے زیادہ 0 اور مطلق کم سے کم -4 ہے۔(ج) مقامی زیادہ سے زیادہ غیر موجود، $x = 0$ پر مقامی کم سے کم -4 اور مطلق کم سے کم -4 ہے۔(د) $x = -2$ پر مقامی زیادہ سے زیادہ 0 ہے، $x = 0$ پر مقامی کم سے کم -4 اور مطلق کم سے کم -4 ہے۔ (ہ) مقامی انتہا غیر موجود، مطلق انتہا غیر موجود۔

۴.۲۹) ہاں

حصہ ۴.۲ صفحہ ۲۹۴

۴.۴۱) $\frac{1}{2}$

۴.۴۳) 1

۴.۴۵) نہیں کرتا؛ دائرہ کار کے اندرونی نقطہ $x = 0$ پر f ناقبل تفرق ہے۔

۴.۴۷) کرتا ہے۔

۴.۵۱) (ا)

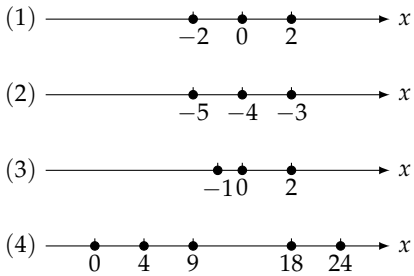

۴.۶۷) $1.09999 \le f(0.1) \le 1.1$

۴.۷۱) ہاں

۴.۷۳) (ا) 4 ، (ب) 3 ، (ج) 3

۴.۷۵) (ا) $\frac{x^2}{2} + C$ ، (ب) $\frac{x^3}{3} + C$ ، (ج) $\frac{x^4}{4} + C$

۴.۷۷) (ا) $\frac{1}{x} + C$ ، (ب) $x + \frac{1}{x} + C$ ، (ج) $5x - \frac{1}{x} + C$

۴.۷۹) (ا) $-\frac{1}{2}\cos 2t + C$ ، (ب) $2\sin\frac{t}{2} + C$ ، (ج) $-\frac{1}{2}\cos 2t + 2\sin\frac{t}{2} + C$

۴.۸۱) $f(x) = x^2 - x$

۴.۸۳) $r(\theta) = 8\theta + \cot\theta - 2\pi - 1$

حصہ ۴.۳ صفحہ ۳۰۵

۴.۹۴) (ا) 0 ، 1 ؛ (ب) $(-\infty,0)$ اور $(1,\infty)$ پر بڑھتا ہے، $(0.1,c)$ پر گھٹتا ہے، مقامی زیادہ سے زیادہ $x = 0$ پر اور مقامی کم سے کم $x = 1$ پر ہے۔

۴.۹۶) (ا) -2 ، 1 ؛ (ب) $(-2,1)$ اور $(1,\infty)$ پر بڑھتا، $-\infty,-2$ پر گھٹتا؛ (ج) مقامی زیادہ سے زیادہ عدم موجود؛ $(x=-2)$ پر مقامی کم سے کم۔

۴.۹۸) (ا) -2 ، 1 ، 3 ؛(ب) $(-2,1)$ اور $(3,\infty)$ پر بڑھتا، $(-\infty,-2)$ اور $(1,3)$ پر گھٹتا؛(ج) $(x=1)$ پر مقامی زیادہ سے زیادہ، $(x=-2)$ اور $x=3$ پر مقامی کم سے کم۔

۴.۱۰۰) (ا) -2 ، 0 ؛(ب) $(-\infty,-2)$ اور $(0,\infty)$ پر بڑھتا؛ $(-2,0)$ پر گھٹتا؛(ج) $(x=-2)$ مقامی زیادہ سے زیادہ، $(x=0)$ پر مقامی کم سے کم۔

۴.۱۰۲) (ا)0 $(-\infty,-1.5)$ پر بڑھتا، $(-1.5,\infty)$ پر گھٹتا؛ (ب) $t=-1.5$ پر مقامی زیادہ سے زیادہ 5.25 ؛ (ج) $t=-1.5$ پر مطلق زیادہ سے زیادہ 5.25 ہے۔

۴.۱۰۴) (ا) $(-\infty,0)$ اور $(\frac{4}{3},\infty)$ پر گھٹتا، $(0,\frac{4}{3})$ پر بڑھتا؛ (ب) $x=0$ پر مقامی کم سے کم، $x=\frac{4}{3}$ پر مقامی زیادہ سے زیادہ $(\frac{4}{3},\frac{32}{27})$ ؛(ج) مطلق انتہا عدم موجود۔

۴.۱۰۶) (ا) $(-\infty,0)$ اور $(\frac{1}{2},\infty)$ پر گھٹتا، $(0,\frac{1}{2})$ پر بڑھتا؛ (ب) $\theta=\frac{1}{2}$ پر مقامی زیادہ سے زیادہ $(\frac{1}{2},\frac{1}{4})$ ؛(ج) مطلق انتہا عدم موجود۔

۴.۱۰۸) (ا) $(-\infty,\infty)$ پر بڑھتا ہے یعنی کبھی کم نہیں ہوتا؛(ب) مقامی انتہا عدم موجود؛(ج) مطلق انتہا عدم موجود۔

۴.۱۱۰) (ا) $(-2,0)$ اور $(2,\infty)$ پر بڑھتا، $(-\infty,-2)$ اور $(0,2)$ پر گھٹتا؛(ب) $x=0$ پر مقامی زیادہ سے زیادہ 16 اور $x=\mp 2$ پر مقامی کم سے کم 0 ؛(ج) مطلق زیادہ سے زیادہ غیر موجود، $x=\mp 2$ پر مطلق کم سے کم 0

۴.۱۱۲) (ا) $(-\infty,-1)$ اور $(0,1)$ پر بڑھتا، $(-1,0)$ اور $(1,\infty)$ پر گھٹتا؛(ب) $x=\mp 1$ پر مقامی زیادہ سے زیادہ $(\mp 1,0.5)$ ہے $x=0$ پر مقامی کم سے کم $(0,0)$ ہے؛ (ج) $x=\mp 1$ پر مطلق زیادہ سے زیادہ جبکہ مطلق کم سے کم غیر موجود۔

۴.۱۱۴) (ا) $(-2\sqrt{2},-2)$ اور $(2,2\sqrt{2})$ پر گھٹتا $(-2,2)$ پر بڑھتا ہے؛(ب) مقامی کم سے کم $=g(-2)$ -4 ، $0=g(2\sqrt{2}$ ؛مقامی زیادہ سے زیادہ $g(-2\sqrt{2}=0$ ، $g(2)=4$ (ج) $x=2$ پر مطلق زیادہ سے زیادہ 4 اور $x=-2$ پر مطلق کم سے کم -4 ہے۔

۴.۱۱۶) (ا) $(-\infty,1)$ پر بڑھتا $1<x<2$ اور $2<x<3$ پر گھٹتا ہے۔ $x=2$ پر غیر استراری اور $(3,\infty)$ پر بڑھتا ہے۔(ب) $x=3$ پر مقامی کم سے کم $(3,6)$ اور $x=1$ پر مقامی زیادہ سے زیادہ $(1,2)$ ؛(ج) مطلق انتہا عدم موجود۔

۴.۱۱۸) (ا) $(-2,0)$ اور $(0,\infty)$ پر بڑھتا، $(-\infty,-2)$ پر گھٹتا؛(ب) $x=-2$ پر مقامی کم سے کم $-6\sqrt[3]{2}$ ؛(ج) مطلق زیادہ سے زیادہ عدم موجود، $x=-2$ پر مطلق کم سے کم $-6\sqrt[3]{2}$ ہے۔

۴.۱۲۰) (ا) $(-\infty,-\frac{2}{\sqrt{7}})$ اور $(\frac{2}{\sqrt{7}},\infty)$ پر بڑھتا، $(-\frac{2}{\sqrt{7}},\frac{2}{\sqrt{7}})$ پر گھٹتا؛(ب) $x=\frac{2}{\sqrt{7}}$ پر مقامی زیادہ سے زیادہ $\frac{24\sqrt[3]{2}}{7^{7/6}}\approx 3.12$ جبکہ $x=\frac{2}{\sqrt{7}}$ پر مقامی کم سے کم $-\frac{24\sqrt[3]{2}}{7^{6}}\approx -3.12$ ہے؛(ج) مطلق انتہا عدم موجود۔

۴.۱۲۲) (ا) $x=1$ پر مقامی زیادہ سے زیادہ 1 اور $x=2$ پر مقامی کم سے کم 0 ہے؛(ب) $x=1$ پر مطلق زیادہ سے زیادہ 1 جبکہ مطلق کم سے کم عدم موجود۔

۴.۱۲۴) (ا) $x=1$ پر مقامی زیادہ سے زیادہ 1 اور $x=2$ پر مقامی کم سے کم 0 ہے؛(ب) مطلق زیادہ سے زیادہ عدم موجود، $x=2$ پر مطلق کم سے کم 0 ہے۔

۴.۱۲۶) (ا) $t=-3$ پر -9 اور $t=2$ پر 16 مقامی زیادہ سے زیادہ ہیں۔ $t=-2$ پر مقامی کم سے کم -16 ہے۔(ب) $t=2$ پر مطلق زیادہ سے زیادہ 16 ؛مطلق کم سے کم عدم موجود۔

۴.۱۲۸) (ا) $x=0$ پر مقامی کم سے کم 0 ؛(ب) مطلق زیادہ سے زیادہ عدم موجود؛ $x=0$ پر مطلق کم سے کم 0 ہے۔

۴.۱۳۰) (ا) $x=\frac{2\pi}{3}$ پر مقامی کم سے کم $-\sqrt{3}$ جبکہ $x=0$ پر مقامی زیادہ سے زیادہ 0 ہے اور $x=2\pi$ پر مقامی زیادہ سے زیادہ π ہے۔

۴.۱۳۲) (ا) $x=\frac{\pi}{4}$ پر مقامی کم سے کم 0 ہے۔

۴.۱۳۴) (ا) $\theta=0$ پر مقامی زیادہ سے زیادہ 3 اور $\theta=2\pi$ پر مقامی کم سے کم -3 ہے۔

۴.۱۳۶)

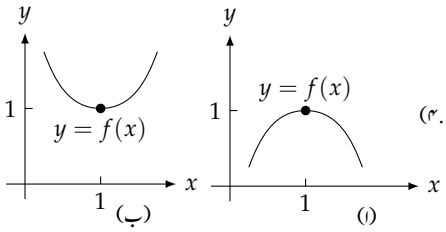

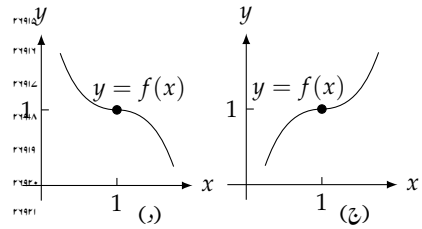

۲۶۸۹۵

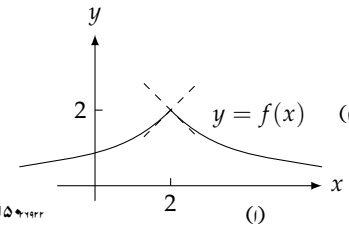

۲۶۸۹۶ (۴.۱۳۸ (۴.۱۵۹ ۲۶۹۲۲

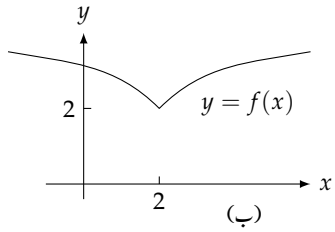

۲۶۸۹۷

۲۶۸۹۸ حصہ ۴.۴ صفحہ ۳۱۷

۲۶۸۹۹ (۴.۱۴۲ $x = -1$ پر $\frac{3}{2}$ مقامی زیادہ سے زیادہ، $x = 2$ (۴.۱۵۲ ۲۶۹۲۳
۲۶۹۰۰ پر -3 مقامی کم سے کم، نقطہ تصریف $\left(\frac{1}{2}, -\frac{3}{4}\right)$ ، چڑھاو
۲۶۹۰۱ $(-\infty, -1)$ اور $(2, \infty)$ پر، اتار $(-1, 2)$ پر، اوپر مقعر
۲۶۹۰۲ $\left(\frac{1}{2}, \infty\right)$ پر جبکہ نیچے مقعر $\left(-\infty, \frac{1}{2}\right)$ پر۔

۲۶۹۰۳ (۴.۱۴۴ $x = 0$ پر $\frac{3}{4}$ مقامی زیادہ سے زیادہ، $x = \mp 1$ پر
۲۶۹۰۴ 0 مقامی کم سے کم، $\left(-\sqrt{3}, \frac{3\sqrt[3]{4}}{4}\right)$ اور $\left(\sqrt{3}, \frac{3\sqrt[3]{4}}{4}\right)$
۲۶۹۰۵ پر نقطہ تصریف، چڑھاو $(-1, 0)$ اور $(1, \infty)$ پر، اتار
۲۶۹۰۶ $(-\infty, -1)$ اور $(0, 1)$ پر، $(-\infty, -\sqrt{3})$ ور
۲۶۹۰۷ $(\sqrt{3}, \infty)$ پر مقعر اوپر، $(-\sqrt{3}, 3)$ پر مقعر نیچے۔

۲۶۹۰۸ (۴.۱۴۶ $x = -\frac{2\pi}{3}$ پر $\frac{\sqrt{3}}{2}$ اور $x = \frac{\pi}{3} - \frac{2\pi}{3}$
۲۶۹۰۹ پر $\frac{\sqrt{3}}{2} + \frac{\pi}{3}$ مقامی زیادہ سے زیادہ، $x = -\frac{\pi}{3}$ پر (۴.۱۵۴ ۲۶۹۲۴
۲۶۹۱۰ $\frac{2\pi}{3} - \frac{\sqrt{3}}{2}$ پر $x = \frac{2\pi}{3}$ اور $-\frac{\pi}{3} - \frac{\sqrt{3}}{2}$ مقامی
۲۶۹۱۱ کم سے کم، $\left(-\frac{\pi}{2} - \frac{\pi}{2}\right)$ ، $(0, 0)$ اور $\left(\frac{\pi}{2}, \frac{\pi}{2}\right)$ پر
۲۶۹۱۲ نقطہ تصریف، $\left(-\frac{\pi}{3}, \frac{\pi}{3}\right)$ پر چڑھاو، $\left(-\frac{2\pi}{3}, -\frac{\pi}{3}\right)$ اور
۲۶۹۱۳ $\left(\frac{\pi}{3}, \frac{2\pi}{3}\right)$ پر اتار، $\left(-\frac{\pi}{2}, 0\right)$ اور $\left(\frac{\pi}{2}, \frac{2\pi}{3}\right)$ پر مقعر اوپر،
۲۶۹۱۴ $\left(-\frac{2\pi}{3}, -\frac{\pi}{2}\right)$ اور $\left(0, \frac{\pi}{2}\right)$ پر مقعر نیچے۔

۲۶۹۱۵ (۴.۱۴۸ $x = -\frac{\pi}{2}$ اور $x = \frac{\pi}{2}$ پر 1 مقامی زیادہ سے زیادہ،
$x = -2\pi$ ، $x = 0$ اور $x = 2\pi$ پر صفر،
$x = -\frac{3\pi}{2}$ اور $x = \frac{3\pi}{2}$ پر -1 مقامی کم سے کم،
$(-\pi, 0)$ اور $(\pi, 0)$ نقطہ تصریف، $\left(-\frac{3\pi}{2}, -\frac{\pi}{2}\right)$ ،
$\left(0, \frac{\pi}{2}\right)$ اور $\left(\frac{3\pi}{2}, 2\pi\right)$ پر چڑھاو، $\left(-2\pi, -\frac{3\pi}{2}\right)$ ،
$\left(-\frac{\pi}{2}, 0\right)$ اور $\frac{\pi}{2}, \frac{3\pi}{2}$ پر اتار، $(-2\pi, -\pi)$ اور
$(\pi, 2\pi)$ پر مقعر اوپر، $(-\pi, \pi)$ پر مقعر نیچے۔

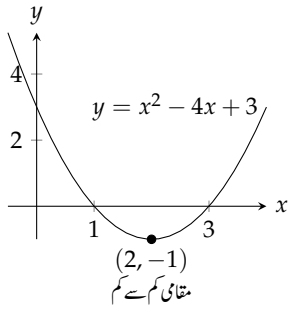

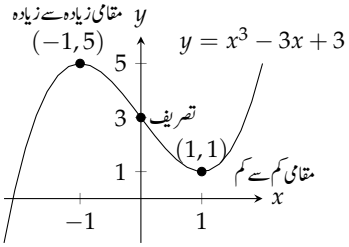

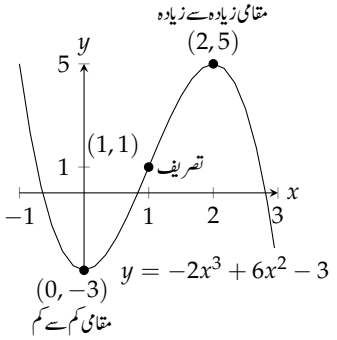

(۴.۱۵۶-۲۹۲۵)

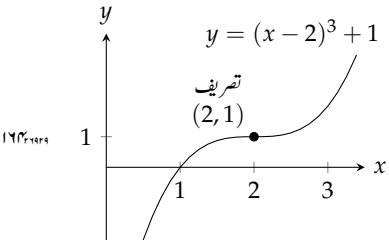

(۴.۱۶۴-۲۹۲۹)

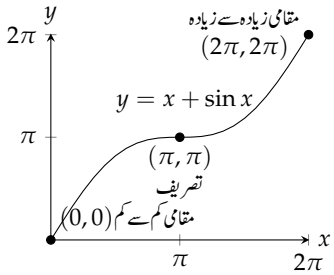

(۴.۱۵۸-۲۹۲۶)

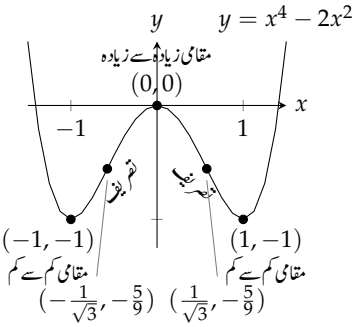

(۴.۱۶۰-۲۹۲۷)

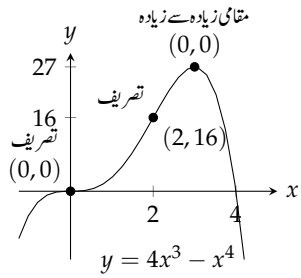

(۴.۱۶۲-۲۹۲۸)

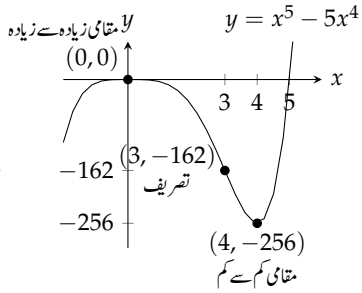

(۴.۱۶۶-۲۹۳۰)

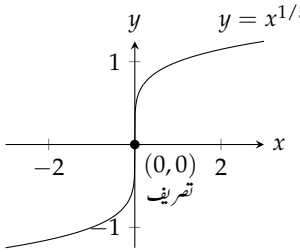

(۴.۱۶۸-۲۹۳۱)

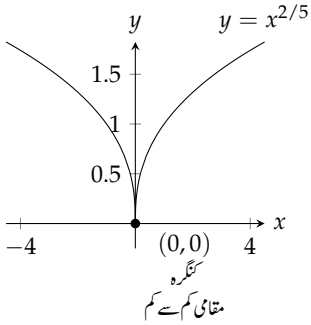

(۴.۱۷۰-۲۹۳۲)

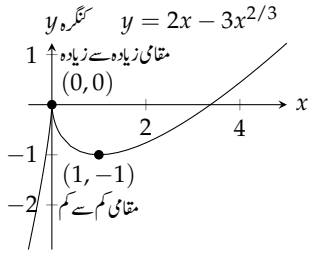

(۴.۱۷۲، ۲۶۳۳)

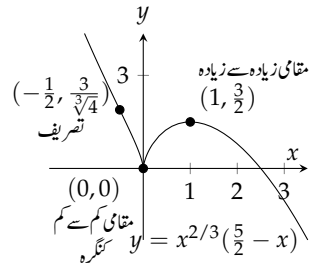

(۴.۱۸۹، ۲۶۳۷)

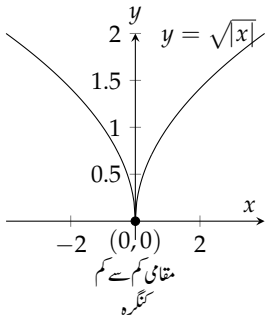

(۴.۱۷۴، ۲۶۳۴)



(۴.۱۷۶، ۲۶۳۵)

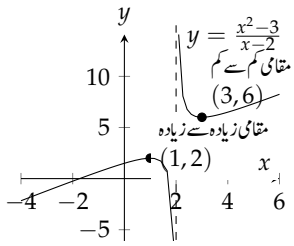

(۴.۱۷۸، ۲۶۳۶)

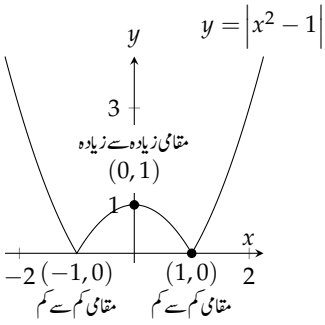

(۴.۱۸۲) $y'' = 1 - 2x$ ۲۶۳۸

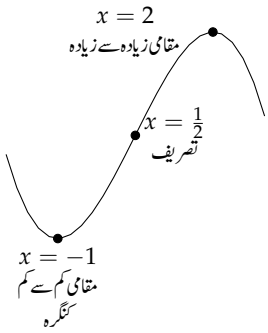

۲۶۳۹

(۴.۱۸۴) $y'' = 3(x-3)(x-1)$ ۲۶۴۰

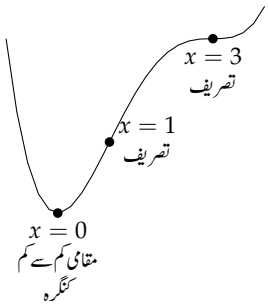

۲۶۴۱

(۴.۱۸۶) $y'' = 3(x-2)(x+2)$ ۲۶۴۲

۲۶۹۴۳

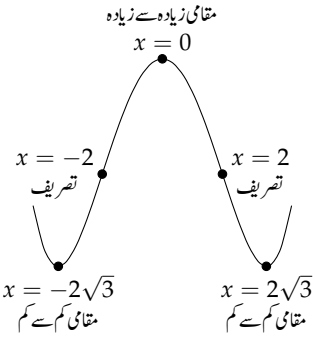

۲۶۹۴۴ $y'' = 4(4-x)(5x^2 - 16x + 8)$ (۴.۱۸۸

۲۶۹۴۵

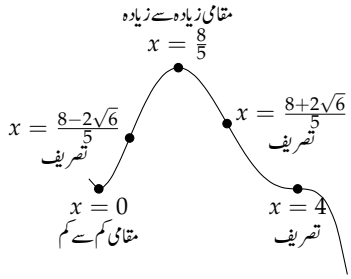

۲۶۹۴۶ $y'' = 2\sec^2 x \tan x$ (۴.۱۹۰

۲۶۹۴۷

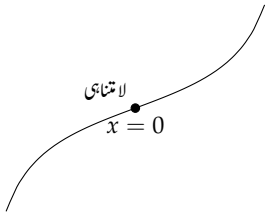

۲۶۹۴۸ $y'' = -\frac{1}{2}\operatorname{cosec}^2 \frac{\theta}{2},\ 0 < \theta < 2\pi$ (۴.۱۹۲

۲۶۹۴۹

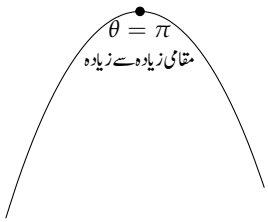

۲۶۹۵۰ $y'' = 2\tan\theta\sec^2\theta,\ -\frac{\pi}{2} < \theta < \frac{\pi}{2}$ (۴.۱۹۴

۲۶۹۵۱

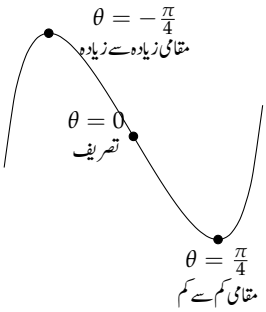

۲۶۹۵۲ $y'' = -\sin t,\ 0 \le t \le 2\pi$ (۴.۱۹۶

۲۶۹۵۳

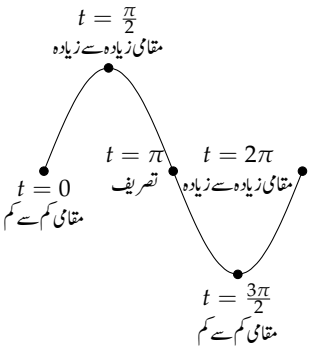

۲۶۹۵۴ $y'' = -\frac{2}{3}(x+1)^{-5/3}$ (۴.۱۹۸

۲۶۹۵۵

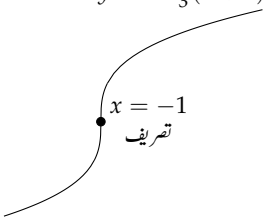

۲۶۹۵۶ $y'' = \frac{1}{3}x^{-2/3} + \frac{2}{3}x^{-5/3}$ (۴.۲۰۰

۲۶۹۵۷

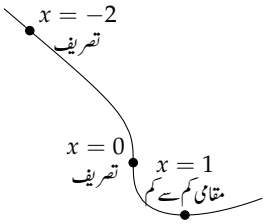

۲۶۹۵۸ $y'' = \begin{cases} -2, & x < 0 \\ 2, & x > 0 \end{cases}$ (۴.۲۰۲

۲۶۹۵۹

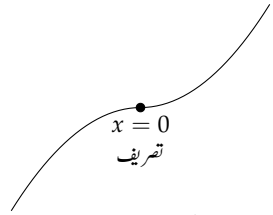

۲۶۹۶۰ (۴.۲۰۴)

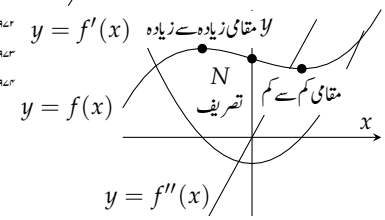

۲۶۹۶۱ (۴.۲۰۶)

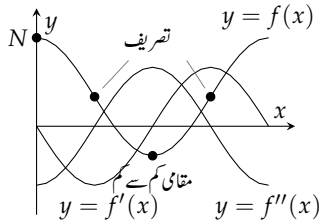

(۴.۲۰۸

	y'	y''
P	$-$	$+$
Q	$+$	0
R	$+$	$-$
S	0	$-$
T	$-$	$-$

۲۶۹۶۲ (۴.۲۱۰

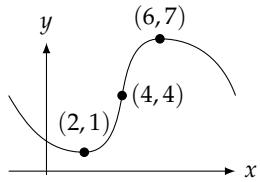

۲۶۹۶۳ (۴.۲۱۴) تقریباً 60 پیداوار پر۔

۲۶۹۶۴ (۴.۲۱۶) $x = 2$ پر مقامی کم سے کم، $x = 1$ اور $x = \frac{5}{3}$ پر
۲۶۹۶۵ تصریف۔

۲۶۹۶۶ (۴.۲۲۰) $b = -3$

۲۶۹۶۷ (۴.۲۲۲) (ا) $\left(-\frac{b}{2a}, \frac{4ac-b^2}{4a}\right)$؛ (ب) $a > 0$ کی صورت میں اوپر
۲۶۹۶۸ مقعر جبکہ $a < 0$ کی صورت میں نیچے مقعر۔

۲۶۹۶۹ (۴.۲۲۶) $y' = 0$ اور $y'' = 0$ کے صفر بالترتیب نقطہ انتہا اور نقطہ
۲۶۹۷۰ تصریف ہیں۔

۲۶۹۷۱

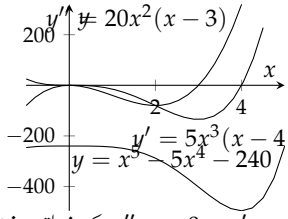

۲۶۹۷۲ (۴.۲۲۸) $y' = 0$ اور $y'' = 0$ کے صفر بالترتیب نقطہ انتہا اور نقطہ
۲۶۹۷۳ تصریف ہیں۔ تصریف $x = -\sqrt[3]{2}$ پر اور مقامی زیادہ سے زیادہ
۲۶۹۷۴ $x = -2$ پر ہیں۔

۲۶۹۷۵

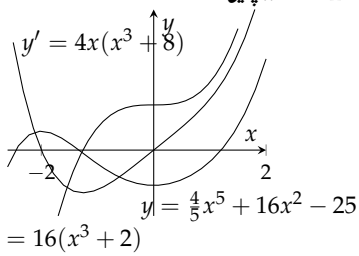

۲۶۹۷۶ (۴.۲۳۲) (ب) $f'(x) = 3x^2 + k; -12k$؛ مثبت اگر
۲۶۹۷۷ $k > 0$ ہو، 0 اگر $k = 0$ ہو؛ اگر $k < 0$ ہو، منفی اگر 0،
۲۶۹۷۸ تب f' کے دو صفر ہوں گے، $k = 0$ کی صورت میں ایک صفر اور
۲۶۹۷۹ $k > 0$ کی صورت میں کوئی صفر نہیں ہوگا۔

۲۶۹۸۰ (۴.۲۳۴) (ب) چونکہ $\lim_{x\to 0^-} y' = \infty$ اور
۲۶۹۸۱ $\lim_{x\to 0^+} y' = -\infty$ ہیں لہٰذا کنگرہ ہوگا۔

۲۶۹۸۲ (۴.۲۳۶) y' کی ترسیم $x = -3$ کے قریب محور کو قطع کرتی ہے لہٰذا
۲۶۹۸۳ $x = -3$ کے قریب y کا افقی مماس ہوگا۔

۲۶۹۸۴ حصہ ۴.۵ صفحہ ۳۴۰

۲۶۹۸۵ (۴.۲۳۷) (ا) -3، (ب) -3

۲۶۹۸۶ (۴.۲۳۹) (ا) $\frac{1}{2}$، (ب) $\frac{1}{2}$

۲۶۹۸۷ (۴.۲۴۱) (ا) $-\frac{5}{3}$، (ب) $-\frac{5}{3}$

۲۶۹۸۸ (۴.۲۴۳) 0

۲۶۹۸۹ (۴.۲۴۵) -1

۲۶۹۹۰ (۴.۲۴۷) (ا) $\frac{2}{5}$، (ب) $\frac{2}{5}$

۲۶۹۹۱ (۴.۲۴۹) (ا) 0، (ب) 0

۲۶۹۹۲ (۴.۲۵۱) (ا) $-\infty$، (ب) ∞

۲۶۹۹۳ (۴.۲۵۳) (ا) 7، (ب) 7

۲۶۹۹۴ (۴.۲۵۵) (ا) $-\infty$، (ب) ∞

۲۶۹۹۵ (۴.۲۵۷) (ا) ∞، (ب) $-\infty$

۲۶۹۹۶ (۴.۲۵۹) (ا) $-\frac{2}{3}$، (ب) $-\frac{2}{3}$

۲۶۹۹۷ (۴.۲۶۱) 0

۲۶۹۹۸ (۴.۲۶۳) 1

۲۶۹۹۹ (۴.۲۶۵) ∞

۲۷۰۰۰ (۴.۲۶۷

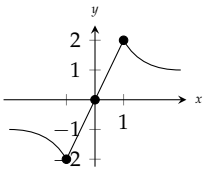

۲۷۰۰۱ (۴.۲۶۹

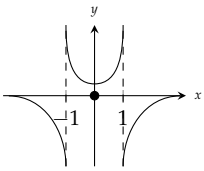

۲۷۰۰۲ (۴.۲۷۱

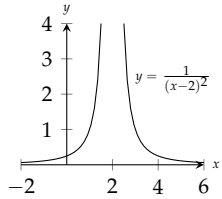

۲۷۰۰۳ (۴.۲۷۳

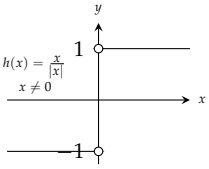

۲۷۰۰۴ (۴.۲۷۵

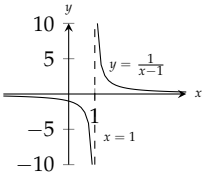

۲۷۰۰۵ (۴.۲۷۷

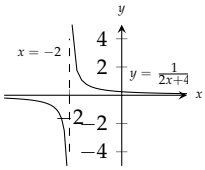

۲۷۰۰۶ (۴.۲۷۹

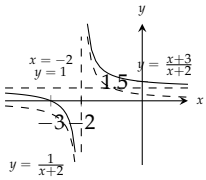

۲۷۰۰۷ (۴.۲۸۱

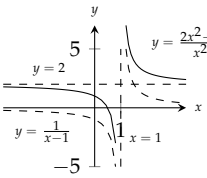

۲۷۰۰۸ (۴.۲۸۳

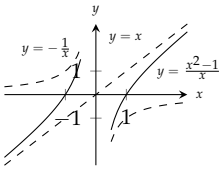

۲۷۰۰۹ (۴.۲۸۵

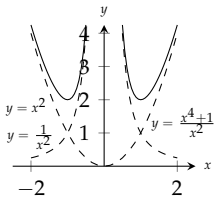

۲۷۰۱۰ (۴.۲۸۷

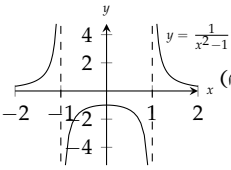

۲۷۰۱۱ (۴.۲۸۹

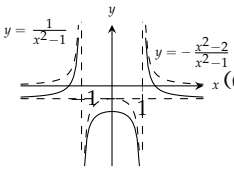

۲۷۰۱۲ (۴.۲۹۱

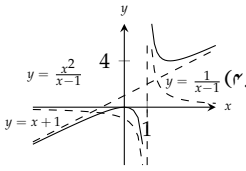

۲۷۰۱۳ (۴.۲۹۳

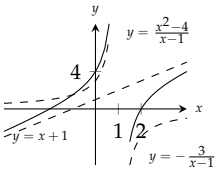

۲۷۰۱۴ (۴.۲۹۵

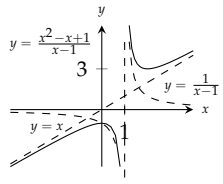

۲۷۰۱۵ (۴.۲۹۷

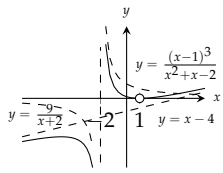

۲۷۰۱۶ (۴.۲۹۹

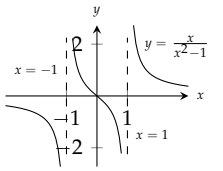

۲۷۰۱۷ (۴.۳۰۱

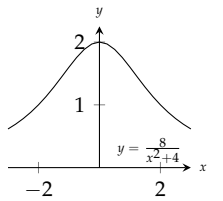

۲۷۰۱۸ (۴.۳۰۳

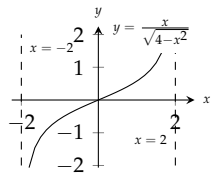

۲۷۰۱۹ (۴.۳۰۵

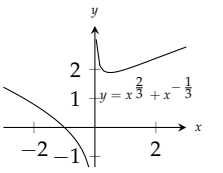

۲۷۰۲۰ (۴.۳۰۷

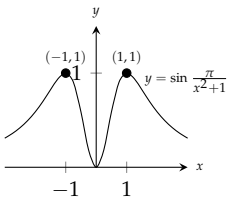

۲۷۰۲۱ (۴.۳۰۹

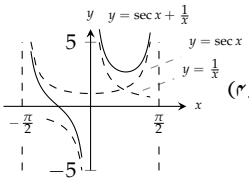

۲۷۰۲۲ (۴.۳۱۱

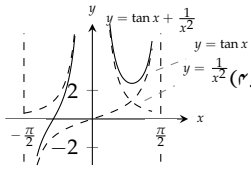

۲۷۰۲۳ (۴.۳۱۵ بڑھتا

۲۷۰۲۴ (۴.۳۱۹ 2

۲۷۰۲۵ (۴.۳۲۱ (ب) $f(x) = 2 + \frac{1}{x}\sin x^2$ ممکن ہے۔

۲۷۰۲۶ (۴.۳۲۵ $x = -1,\ y = 1 - x$

۲۷۰۲۷ (۴.۳۲۷ $x = 1,\ x = -1,\ y = x - 1$

۲۷۰۲۸ (۴.۳۳۵ (ا) $y \to \infty$، (ب) $y \to \infty$، (ج) $x = \mp 1$ پر

۲۷۰۲۹ کنگرہ

۲۷۰۳۰ (۴.۳۳۷ جزو-ج میں فاصلے اتنے زیادہ ہیں کہ چھوٹی حرکت نظر نہیں آتی ہے۔

۲۷۰۳۱ (۴.۳۳۹ 1

۲۷۰۳۲ (۴.۳۴۱ $\frac{3}{2}$

۲۷۰۳۳ (۴.۳۴۳ 3

۲۷۰۳۴ حصہ ۴.۶ صفحہ ۳۵۹

۲۷۰۳۵ (۴.۳۴۵ $r = 25\,\mathrm{m}, s = 50\,\mathrm{m}$

۲۷۰۳۶ (۴.۳۴۷ $16\,\mathrm{cm}$

۲۷۰۳۷ (۴.۳۴۹ (ا) $(x, 1-x)$، (ب) $A(x) = 2x(1-x)$،

۲۷۰۳۸ (ج) $\frac{1}{2}$ مربع اکائیاں

۲۷۰۳۹ (۴.۳۵۱ $\frac{14}{3} \times \frac{35}{3} \times \frac{5}{3}\,\mathrm{cm}^3$

۲۷۰۴۰ (۴.۳۵۳ $80\,000\,\mathrm{m}^2$

۲۷۰۴۱ (۴.۳۵۵ $8 \times 8 \times 4\,\mathrm{m}^3$

۲۷۰۴۲ (۴.۳۵۷ $9\,\mathrm{cm} \times 18\,\mathrm{cm}$

۲۷۰۴۳ (۴.۳۵۹ $\frac{\pi}{2}$

۲۷۰۴۴ (۴.۳۶۱ $r = h = \frac{10}{\sqrt[3]{\pi}}\,\mathrm{cm}$

۲۷۰۴۵ (۴.۳۶۳ $18\,\mathrm{cm} \times 18\,\mathrm{cm} \times 36\,\mathrm{cm}$

۲۷۰۴۶ (۴.۳۶۵ (ا) $12\,\mathrm{cm}$ ، $6\,\mathrm{cm}$؛ (ب) $12\,\mathrm{cm}$ ، $6\,\mathrm{cm}$

۲۷۰۴۷ (۴.۳۶۷ (ا) دائرے کا محیط $4\,\mathrm{m}$ ہے۔

۲۷۰۴۸ (۴.۳۶۹ اگر نصف دائرے کا رداس r ، مستطیل کا قاعدہ $2r$ اور اس کی بلندی

۲۷۰۴۹ h ہوں تب $\frac{2r}{h} = \frac{8}{4+\pi}$ ہوگا۔

۲۷۰۵۰ (۴.۳۷۱ $\frac{\pi}{6}$

۲۷۰۵۱ (۴.۳۷۳ $\frac{v_0^2}{2g} + s_0$

۲۷۰۵۲ (۴.۳۷۵) (ا) $\frac{30}{\sqrt{3}}\,\text{cm} \times \frac{30\sqrt{2}}{\sqrt{3}}\,\text{cm}$

۲۷۰۵۳ (۴.۳۷۷) $2\sqrt{2}\,\text{A}$

۲۷۰۵۴ (۴.۳۷۹) (ا) جب π کا عدد صحیح مضرب t ہو۔ (ب) $t = \frac{2\pi}{3}$ ، $t = \frac{2\pi}{3}$

۲۷۰۵۵ $t = 3\frac{\sqrt{3}}{2}$ ، $\frac{4\pi}{3}$

۲۷۰۵۶ (۴.۳۸۱) (ا) $t = \frac{8}{5}$ ، $t = 4$ ؛ (ب) $\frac{8}{5} < t < 4$ ؛ (ج) $t = 3$

۲۷۰۵۷ $\frac{2187}{125}$ اکائی فی وقت

۲۷۰۵۸ (۴.۳۸۵) نہیں۔ تفاعل کی مطلق کم سے کم قیمت $\frac{3}{4}$ ہے۔

۲۷۰۵۹ (۴.۳۸۷) (ا) $(c - \frac{1}{2}, \sqrt{c - \frac{1}{2}})$ ؛ (ب) $(0, 0)$

۲۷۰۶۰ (۴.۳۸۹) (ا) $a = -9$ ، $b = -3$ ؛ (ب) $a = -3, b = -3$

۲۷۰۶۱ -24

۲۷۰۶۲ (۴.۳۹۱) (ا) $y = -1$

۲۷۰۶۳ (۴.۳۹۳) $\frac{7\sqrt{17}}{2}$

۲۷۰۶۴ (۴.۳۹۷) $M = \frac{c}{2}$

۲۷۰۶۵ (۴.۳۹۹) $\frac{c}{2} + 50$

۲۷۰۶۶ (۴.۴۰۱) $\sqrt{\frac{2km}{h}}$

۲۷۰۶۷ حصہ ۴.۷ صفحہ ۳۸۲

۲۷۰۶۸ (۴.۴۰۵) $4x - 3$

۲۷۰۶۹ (۴.۴۰۷) $2x - 2$

۲۷۰۷۰ (۴.۴۰۹) $\frac{1}{4}x + 1$

۲۷۰۷۱ (۴.۴۱۱) $2x$

۲۷۰۷۲ (۴.۴۱۳) -5

۲۷۰۷۳ (۴.۴۱۵) $\frac{1}{12}x + \frac{4}{3}$

۲۷۰۷۴ (۴.۴۱۷) (ا) $L(x) = x$ ، (ب) $L(x) = \pi - x$

۲۷۰۷۵ (۴.۴۱۹) (ا) $L(x) = 1$ ،

۲۷۰۷۶ (ب) $L(x) = 2 - 2\sqrt{3}(x + \frac{\pi}{3})$

۲۷۰۷۷ (۴.۴۲۱) (ا) $1 + 2x$ ، (ب) $1 - 5x$ ، (ج) $2 + 2x$ ،

۲۷۰۷۸ (د) $1 - 6x$ ، (ھ) $3 + x$ ، (و) $1 - \frac{x}{2}$

۲۷۰۷۹ (۴.۴۲۳) $\frac{3}{2}x + 1$ ، ان کے مجموعے کے برابر ہے۔

۲۷۰۸۰ (۴.۴۲۵) $(3x^2 - \frac{3}{2\sqrt{x}})\,\mathrm{d}x$

۲۷۰۸۱ (۴.۴۲۷) $\frac{2-2x^2}{(1+x^2)^2}\,\mathrm{d}x$

۲۷۰۸۲ (۴.۴۲۹) $\frac{1-y}{3\sqrt{y}+x}\,\mathrm{d}x$

۲۷۰۸۳ (۴.۴۳۱) $\frac{5}{2\sqrt{x}}\cos(5\sqrt{x})\,\mathrm{d}x$

۲۷۰۸۴ (۴.۴۳۳) $(4x^2)\sec^2(\frac{x^3}{3})\,\mathrm{d}x$

۲۷۰۸۵ (۴.۴۳۵) $\frac{3}{\sqrt{x}}(\operatorname{cosec}(1 - 2\sqrt{x})\cot(1 - 2\sqrt{x}))\,\mathrm{d}x$

۲۷۰۸۶ (۴.۴۳۷) (ا) 0.21 ، (ب) 0.2 ، (ج) 0.01

۲۷۰۸۷ (۴.۴۳۹) (ا) 0.231 ، (ب) 0.2 ، (ج) 0.031

۲۷۰۸۸ (۴.۴۴۱) (ا) $-\frac{1}{3}$ ، (ب) $-\frac{2}{5}$ ، (ج) $\frac{1}{15}$

۲۷۰۸۹ (۴.۴۴۳) $\mathrm{d}H = 4\pi r_0^2\,\mathrm{d}r$

۲۷۰۹۰ (۴.۴۴۵) $\mathrm{d}S = 12x_0\,\mathrm{d}x$

۲۷۰۹۱ (۴.۴۴۷) $\mathrm{d}H = 2\pi r_0 h\,\mathrm{d}r$

۲۷۰۹۲ (۴.۴۴۹) (ا) $0.08\pi\,\mathrm{m}^2$ ، (ب) $3\,\%$

۲۷۰۹۳ (۴.۴۵۱) $3\,\%$

۲۷۰۹۴ (۴.۴۵۳) $3\,\%$

(ج) (۴.۴۵۵) $\frac{1}{3}\,\%$

۲۷۰۹۶ (۴.۴۵۷) $0.05\,\%$

۲۷۰۹۷ (۴.۴۶۱) حجم $= (x + \Delta x)^3 = x^3 + 3x^2(\Delta x) +$

۲۷۰۹۸ $3x(\Delta x)^2 + (\Delta x)^3$

۲۷۰۹۹ (۴.۴۶۳) $\lim_{x\to 0} \frac{\sqrt{1+x}}{1+(x/2)} = \frac{\sqrt{1+0}}{1+(0/2)} = \frac{1}{1} = 1$

۲۷۱۰۰ حصہ ۴.۸ صفحہ ۳۹۴

۲۷۱۰۱ (۴.۴۷۵) $x_2 = \frac{13}{21}, -\frac{5}{3}$

۲۷۱۰۲ (۴.۴۷۷) $x_2 = \frac{5763}{4945}, -\frac{51}{31}$

۲۷۱۰۳ (۴.۴۷۹) $x_2 = \frac{2387}{2000}$

۲۷۱۰۴ (۴.۴۸۱) $x \approx 0.45$

۲۷۱۰۵ (۴.۴۸۳) جذر 1.17951 ہے۔

۲۷۱۰۶ (۴.۴۸۷)

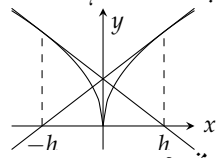

۲۷۱۰۷ (۴.۴۸۹) (ا) منحنی $y = x^3$ اور $y = 3x + 1$ یا

۲۷۱۰۸ منحنی $y = x^3 - 3x$ اور $y = 1$ کے نقطہ تقاطع کی x

۲۷۱۰۹ قیمت وہی ہے جو جزو-ا کے جذر یا جزو-د کے حل کی ہیں۔

۲۷۱۱۰ (ب) -1.53209 ، -0.34730

۲۷۱۱۱ (۴.۴۹۱) $-1.532\,09,\ -0.347\,30$

۲۷۱۱۲ (۴.۴۹۲) $1.165\,561\,185\,207\,211$

۲۷۱۱۳ (۴.۴۹۳) $0.630\,115\,396\,163\,843\,2,$

۲۷۱۱۴ $2.573\,271\,963\,535\,193$

۲۷۱۱۵ (۴.۴۹۴) $0.350\,035\,015,$

۲۷۱۱۶ $-1.026\,173\,161\,530\,1$

۲۷۱۱۷ (۴.۴۹۵) $0.390\,040\,316\,667\,547$

۲۷۱۱۸ (۴.۴۹۶) $\mp 1.306\,562\,964\,876\,4,$

۲۷۱۱۹ $\mp 0.541\,196\,100\,146\,19$

۲۷۱۲۰ (۴.۴۹۷) $-0.976\,823\,589,\ 0.100\,363\,332,$

۲۷۱۲۱ $0.642\,746\,671,\ 1.983\,713\,87$

۲۷۱۲۲ حصہ ۵.۱ صفحہ ۴۰۵

۲۷۱۲۳ (۵.۱) (ا) x^2 ، (ب) $\frac{x^3}{3}$ ، (ج) $\frac{x^3}{3} - x^2 + x$

۲۷۱۲۴ (۵.۳) (ا) x^{-3} ، (ب) $-\frac{1}{3}x^{-3}$ ،

۲۷۱۲۵ (ج) $-\frac{1}{3}x^{-3} + x^2 + 3x$

۲۷۱۲۶ (۵.۵) (ا) $-\frac{1}{x}$، (ب) $-\frac{5}{x}$، (ج) $2x+\frac{5}{x}$

۲۷۱۲۷ (۵.۷) (ا) $\sqrt{x^3}$، (ب) $\sqrt{x}$، (ج) $\frac{2\sqrt{x^3}}{3}+2\sqrt{x}$

۲۷۱۲۸ (۵.۹) (ا) $x^{2/3}$، (ب) $x^{1/3}$، (ج) $x^{-1/3}$

۲۷۱۲۹ (۵.۱۱) (ا) $\cos(\pi x)$، (ب) $-3\cos x$،

۲۷۱۳۰ (ج) $-\frac{1}{\pi}\cos(\pi x)+\cos(3x)$

۲۷۱۳۱ (۵.۱۳) (ا) $\tan x$، (ب) $2\tan(\frac{x}{3})$، (ج) $\frac{2}{3}\tan(\frac{3x}{2})$

۲۷۱۳۲ (۵.۱۵) (ا) $-\csc x$، (ب) $\frac{1}{5}\csc(5x)$، (ج) $2\csc(\frac{\pi x}{2})$

۲۷۱۳۳ (۵.۱۷) $x+\frac{\cos(2x)}{2}$

۲۷۱۳۴ (۵.۱۹) $\frac{x^2}{2}+x+C$

۲۷۱۳۵ (۵.۲۱) $t^3+\frac{t^2}{4}+C$

۲۷۱۳۶ (۵.۲۳) $\frac{x^4}{2}-\frac{5x^2}{2}+7x+C$

۲۷۱۳۷ (۵.۲۵) $-\frac{1}{x}-\frac{x^3}{3}-\frac{x}{3}+C$

۲۷۱۳۸ (۵.۲۷) $\frac{3}{2}x^{2/3}+C$

۲۷۱۳۹ (۵.۲۹) $\frac{2}{3}x^{3/2}+\frac{3}{4}x^{4/3}+C$

۲۷۱۴۰ (۵.۳۱) $4y^2-\frac{8}{3}y^{3/4}+C$

۲۷۱۴۱ (۵.۳۳) $x^2+\frac{2}{x}+C$

۲۷۱۴۲ (۵.۳۵) $2\sqrt{t}-\frac{2}{\sqrt{t}}+C$

۲۷۱۴۳ (۵.۳۷) $-2\sin t+C$

۲۷۱۴۴ (۵.۳۹) $-21\cos\frac{\theta}{3}+C$

۲۷۱۴۵ (۵.۴۱) $3\cot x+C$

۲۷۱۴۶ (۵.۴۳) $-\frac{1}{2}\csc\theta+C$

۲۷۱۴۷ (۵.۴۵) $4\sec x-2\tan x+C$

۲۷۱۴۸ (۵.۴۷) $-\frac{1}{2}\cos 2x+\cot x+C$

۲۷۱۴۹ (۵.۴۹) $2y-\sin 2y+C$

۲۷۱۵۰ (۵.۵۱) $\frac{t}{2}+\frac{\sin 4t}{8}+C$

۲۷۱۵۱ (۵.۵۳) $\tan\theta+C$

۲۷۱۵۲ (۵.۵۵) $-\cot x-x+C$

۲۷۱۵۳ (۵.۵۷) $-\cos\theta+\theta+C$

۲۷۱۵۴ (۵.۶۵) (ا)غلط،(ب)غلط،(ج)درست

۲۷۱۵۵ (۵.۶۷) (ا)غلط،(ب)غلط،(ج)درست

۲۷۱۵۶ (۵.۶۹) (ا) $-\sqrt{x}+C$، (ب) $x+C$، (ج) $\sqrt{x}+C$،

۲۷۱۵۷ (د) $-x+C$، (ہ) $x-\sqrt{x}+C$،

۲۷۱۵۸ (و) $-x-\sqrt{x}+C$، (ز) $\frac{x^2}{2}-\sqrt{x}+C$،

۲۷۱۵۹ (ح) $-3x+C$

۲۷۱۶۰ حصہ ۵.۲ صفحہ ۴۱۶

۲۷۱۶۱ (۵.۷۱) (ب)

۲۷۱۶۲ (۵.۷۲) (ب)

۲۷۱۶۳ (۵.۷۳) $y=x^2-7x+10$

۲۷۱۶۴ (۵.۷۵) $y=-\frac{1}{x}+\frac{x^2}{2}-\frac{1}{2}$

۲۷۱۶۵ (۵.۷۷) $y=9x^{1/3}+4$

۲۷۱۶۶ (۵.۷۹) $s=t+\sin t+4$

۲۷۱۶۷ (۵.۸۱) $r=\cos(\pi\theta)-1$

۲۷۱۶۸ (۵.۸۳) $v=\frac{1}{2}\sec t+\frac{1}{2}$

۲۷۱۶۹ (۵.۸۵) $y=x^2-x^3+4x+1$

۲۷۱۷۰ (۵.۸۷) $r=\frac{1}{t}+2t-2$

۲۷۱۷۱ (۵.۸۹) $y=x^3-4x^2+5$

۲۷۱۷۲ (۵.۹۱) $y=-\sin t+\cos t+t^3-1$

۲۷۱۷۳ (۵.۹۳) $s=4.9t^2+5t+10$

۲۷۱۷۴ (۵.۹۵) $s=\frac{1-\cos(\pi t)}{\pi}$

۲۷۱۷۵ (۵.۹۷) $s=16t^2+20t+5$

۲۷۱۷۶ (۵.۹۹) $s=\sin(2t)-3$

۲۷۱۷۷ (۵.۱۰۱) $y=2x^{3/2}-50$

۲۷۱۷۸ (۵.۱۰۳) $y=x-x^{4/3}+\frac{1}{2}$

۲۷۱۷۹ (۵.۱۰۵) $y=-\sin x-\cos x-2$

۲۷۱۸۰ (۵.۱۰۷)

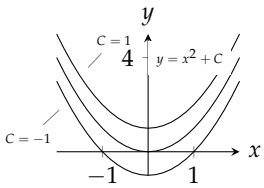

۲۷۱۸۱ (۵.۱۰۹)

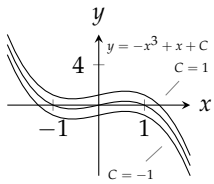

۲۷۱۸۲ (۵.۱۱۱)

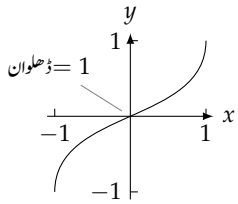

۲۷۱۸۳ (۵.۱۱۳)

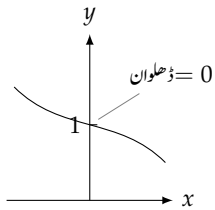

۲۷۱۸۴ (۵.۱۱۵) $48\,\mathrm{m\,s^{-1}}$

۲۷۱۸۵ (۵.۱۱۷) $14\,\mathrm{m\,s^{-1}}$

۲۷۱۸۶ (۵.۱۱۹) $t = \frac{100}{k},\ k = \frac{200}{3}\ \mathrm{km\,h^{-2}}$

۲۷۱۸۷ (۵.۱۲۱) $v = 10t^{3/2} - 6t^{1/2},\ s = 4t^{5/2} - 4t^{3/2}$

۲۷۱۸۸ (۵.۱۲۵) (الف) $33.2\ \mathrm{m}$ ، $33.2\ \mathrm{m}$ ، $33.2\ \mathrm{m}$ (ب) درست

۲۷۱۸۹ حصه ۵.۳ صفحه ۴۲۸

۲۷۱۹۰ (۵.۱۲۷) $-\frac{1}{3}\cos 3x + C$

۲۷۱۹۱ (۵.۱۲۹) $\frac{1}{2}\sec 2t + C$

۲۷۱۹۲ (۵.۱۳۱) $-(7x-2)^{-4} + C$

۲۷۱۹۳ (۵.۱۳۳) $-6(1-r^3)^{1/2} + C$

۲۷۱۹۴ (۵.۱۳۵) $\frac{1}{3}(x^{3/2}-1) - \frac{1}{6}\sin(2x^{3/2}-2) + C$

۲۷۱۹۵ (۵.۱۳۷) $-\frac{1}{4}(\csc^2 2\theta) + C,\quad \frac{1}{4}(\cot^2 2\theta) + C$

۲۷۱۹۶ (۵.۱۳۹) $-\frac{1}{3}(3-2s)^{3/2} + C$

۲۷۱۹۷ (۵.۱۴۱) $\frac{2}{5}(5s+4)^{1/2} + C$

۲۷۱۹۸ (۵.۱۴۳) $-\frac{2}{5}(1-\theta^2)^{5/4} + C$

۲۷۱۹۹ (۵.۱۴۵) $-\frac{1}{3}(7-3y^2)^{3/2} + C$

۲۷۲۰۰ (۵.۱۴۷) $(-\frac{2}{1+\sqrt{x}}) + C$

۲۷۲۰۱ (۵.۱۴۹) $\frac{1}{3}\sin(3z+4) + C$

۲۷۲۰۲ (۵.۱۵۱) $\frac{1}{3}\tan(3x+2) + C$

۲۷۲۰۳ (۵.۱۵۳) $\frac{1}{2}\sin^6(\frac{x}{3}) + C$

۲۷۲۰۴ (۵.۱۵۵) $(\frac{r^3}{18} - 1)^6 + C$

۲۷۲۰۵ (۵.۱۵۷) $-\frac{2}{3}\cos(x^{3/2}+1) + C$

۲۷۲۰۶ (۵.۱۵۹) $\sec(v + \frac{\pi}{2}) + C$

۲۷۲۰۷ (۵.۱۶۱) $\frac{1}{2\cos(2t+1)} + C$

۲۷۲۰۸ (۵.۱۶۳) $-\frac{2}{3}(\cot^3 y)^{1/2} + C$

۲۷۲۰۹ (۵.۱۶۵) $-\sin(\frac{1}{t} - 1) + C$

۲۷۲۱۰ (۵.۱۶۷) $-\frac{\sin^2(\frac{1}{\theta})}{2} + C$

۲۷۲۱۱ (۵.۱۶۹) $\frac{(s^3+2s^2-5s+5)^2}{2} + C$

۲۷۲۱۲ (۵.۱۷۱) $\frac{1}{16}(1+t^4)^4 + C$

۲۷۲۱۳ (۵.۱۷۳) (الف) $-\frac{6}{2+\tan^3 x} + C$ ،

۲۷۲۱۴ (ب) $-\frac{6}{2+\tan^3 x} + C$ ،

۲۷۲۱۵ (ج) $-\frac{6}{2+\tan^3 x} + C$

۲۷۲۱۶ (۵.۱۷۵) $\frac{1}{6}\sin\sqrt{3(2r-1)^2+6} + C$

۲۷۲۱۷ (۵.۱۷۷) $s = \frac{1}{2}(3t^2-1)^4 - 5$

۲۷۲۱۸ (۵.۱۷۹) $s = 4t - 2\sin(2t + \frac{\pi}{6}) + 9$

۲۷۲۱۹ (۵.۱۸۱) $s = \sin(2t - \frac{\pi}{2}) + 100t + 1$

۲۷۲۲۰ (۵.۱۸۳) $6\ \mathrm{m}$

۲۷۲۲۱ حصه ۵.۴ صفحه ۴۴۲

۲۷۲۲۲ (۵.۱۸۷) $\approx 44.8,\ 6.7\ \mathrm{L\,min^{-1}}$

۲۷۲۲۳ (۵.۱۸۹) (ا) $87\ \mathrm{m}$ ، (ب) $86\ \mathrm{m}$

۲۷۲۲۴ (۵.۱۹۱) (ا) $969\ \mathrm{m}$ ، (ب) $1067\ \mathrm{m}$

۲۷۲۲۵ (۵.۱۹۳) (ا) 112 ، (ب) $9\,\%$

۲۷۲۲۶ (۵.۱۹۵) (ا) 80π ، (ب) $6\,\%$

۲۷۲۲۷ (۵.۱۹۷) (ا) $\frac{93\pi}{2}$ زیادہ اندازہ ، (ب) $9\,\%$

۲۷۲۲۸ (۵.۱۹۹) (ا) 40 ، (ب) $25\,\%$ ، (ج) $12.5\,\%$ ، 36

۲۷۲۲۹ (۵.۲۰۱) (ا) 118.5π یا تقریباً $372.28\ \mathrm{m^3}$ ،

۲۷۲۳۰ (ب) تقریباً $11\,\%$ خلل

۲۷۲۳۱ (۵.۲۰۳) (ا) 1.6π ، (ب) $20\,\%$

۲۷۲۳۲ (۵.۲۰۵) $\frac{31}{16}$

۲۷۲۳۳ (۵.۲۰۷) 1

۲۷۲۳۴ (۵.۲۰۹) (ا) $22.81\ \mathrm{m\,s^{-1}}$ ، (ب) $13.81\ \mathrm{m\,s^{-1}}$ ،

۲۷۲۳۵ (ج) $35.175\ \mathrm{m}$

۲۷۲۳۶ (۵.۲۱۱) (ا) $758\ \mathrm{L}$ ، $543\ \mathrm{L}$ ، (ب) $2363\ \mathrm{L}$ ، $1693\ \mathrm{L}$ ، (ج)

۲۷۲۳۷ $31.4\ \mathrm{h}$ ، $32.4\ \mathrm{h}$

۲۷۲۳۸ حصه ۵.۵ صفحه ۴۶۳

۲۷۲۳۹ (۵.۲۱۷) $\frac{6(1)}{1+1} + \frac{6(2)}{2+1} = 7$

۲۷۲۴۰ (۵.۲۱۹) $\cos(1\pi) + \cos(2\pi) + \cos(3\pi) +$

۲۷۲۴۱ $\cos(4\pi) = 0$

۲۷۲۴۲ (۵.۲۲۱) $\sin\pi - \sin\frac{\pi}{2} + \sin\frac{\pi}{3} = \frac{\sqrt{3}-2}{2}$

۲۷۲۴۳ (۵.۲۲۳) تمام

۲۷۲۴۴ (۵.۲۲۵) ب

۲۷۲۴۵ (۵.۲۲۷) $\sum_{k=1}^{6} k$

۲۷۲۴۶ (۵.۲۲۹) $\sum_{k=1}^{4} \frac{1}{2^k}$

۲۷۲۴۷ (۵.۲۳۱) $\sum_{k=1}^{5} (-1)^{k+1}\frac{1}{k}$

۲۷۲۴۸ (۵.۲۳۳) (ا) -15 ، (ب) 1 ، (ج) 1 ، (د) -11 ، (ہ) 16

۲۷۲۴۹ (۵.۲۳۵) (ا) 55 ، (ب) 385 ، (ج) 3025

۲۷۲۵۰ (۵.۲۳۷) -56

۲۷۲۵۱ (۵.۲۳۹) -73

۲۷۲۵۲ (۵.۲۴۱) 240

۲۷۲۵۳ (۵.۲۴۳) 3376

۲۷۲۵۴ (۵.۲۴۵) (ا

۲۷۲۵۵

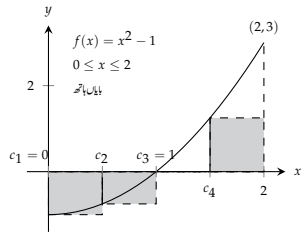

۲۷۲۵۶ ب)

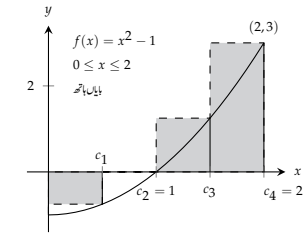

۲۷۲۵۷ ج)

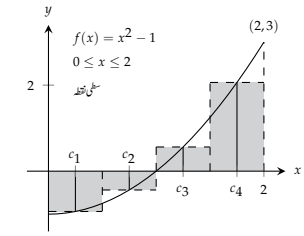

۲۷۲۵۸ ا) (۵.۲۴۷

۲۷۲۵۹

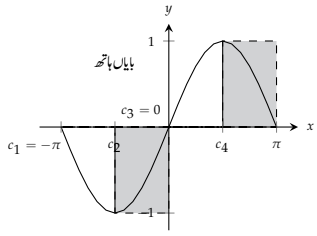

۲۷۲۶۰ ب)

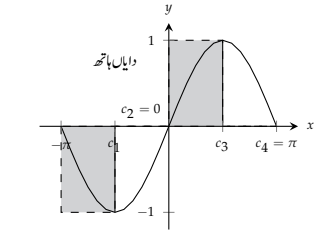

۲۷۲۶۱ ج)

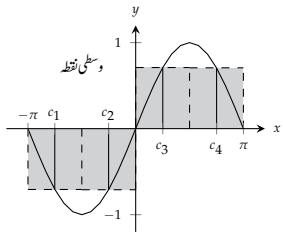

۲۷۲۶۲ (۵.۲۴۹) 1.2

۲۷۲۶۳ (۵.۲۵۱) $\int_0^2 x^2\,\mathrm{d}x$

۲۷۲۶۴ (۵.۲۵۳) $\int_{-7}^5 (x^2 - 3x)\,\mathrm{d}x$

۲۷۲۶۵ (۵.۲۵۵) $\int_2^3 \frac{1}{1-x}\,\mathrm{d}x$

۲۷۲۶۶ (۵.۲۵۷) $\int_{-\pi/4}^0 \sec x\,\mathrm{d}x$

۲۷۲۶۷ (۵.۲۵۹) 15

۲۷۲۶۸ (۵.۲۶۱) -480

۲۷۲۶۹ (۵.۲۶۳) 2.75

۲۷۲۷۰ (۵.۲۶۵) رقبہ=21مربع اکائیاں

۲۷۲۷۱ (۵.۲۶۷) رقبہ $\frac{9\pi}{2}$ مربع اکائیاں ہے۔

۲۷۲۷۲ (۵.۲۶۹) رقبہ 2.5 مربع اکائیاں ہے۔

۲۷۲۷۳ (۵.۲۷۱) رقبہ 3 مربع اکائیاں ہے۔

۲۷۲۷۴ (۵.۲۷۳) $\frac{b^2}{2}$

۲۷۲۷۵ (۵.۲۷۵) $b^2 - a^2$

۲۷۲۷۶ (۵.۲۷۷) $\frac{1}{2}$

۲۷۲۷۷ (۵.۲۷۹) $\frac{3\pi^2}{2}$

۲۷۲۷۸ (۵.۲۸۱) $\frac{7}{3}$

۲۷۲۷۹ (۵.۲۸۳) $\frac{1}{24}$

۲۷۲۸۰ (۵.۲۸۵) $\frac{3a^2}{2}$

۲۷۲۸۱ (۵.۲۸۷) $\frac{b}{3}$

۲۷۲۸۲ (۵.۲۸۹) $\Delta x = \frac{b}{n}$ لمبائی کے n ذیلی وقفوں کے دائیں سر قیمتیں لیتے

۲۷۲۸۳ ہوئے: $\int_0^b 3x^2\,\mathrm{d}x = b^3 =$ رقبہ

۲۷۲۸۴ (۵.۲۹۱) $\Delta x = \frac{b}{n}$ لمبائی کے n ذیلی وقفوں کے دائیں سر قیمتیں لیتے

۲۷۲۸۵ ہوئے: $\int_0^b 2x\,\mathrm{d}x = b^2 =$ رقبہ

۲۷۲۸۶ (۵.۲۹۳) $a = 0$ اور $b = 1$ تکمل کی قیمت زیادہ سے زیادہ بناتے ہیں۔

۲۷۲۸۷ (۵.۲۹۷) $\frac{b^3}{3}$

۲۷۲۸۸ حصہ ۵.۶ صفحہ ۴۸۲

۲۷۲۸۹ (۵.۳۱۱) (ا) 0، (ب) -8، (ج) -12، (د) 10، (ہ) -2، (و) 16

۲۷۲۹۰ (۵.۳۱۳) (ا) 5، (ب) $5\sqrt{3}$، (ج) -5، (د) -5

۲۷۲۹۲ (۵.۳۱۵) (ا) 4، (ب) -4

۲۷۲۹۳ (۵.۳۱۷) -14

۲۷۲۹۴ (۵.۳۱۹) 10

۲۷۲۹۵ (۵.۳۲۱) -2

۲۷۲۹۶ (۵.۳۲۳) $-\frac{7}{4}$

۲۷۲۹۷ (۵.۳۲۵) 7

۲۷۲۹۸ (۵.۳۲۷) 0

۲۷۲۹۹ (۵.۳۲۹) $\frac{16}{3}$

۲۷۳۰۰ (۵.۳۳۱) $\frac{19}{3}$

۲۷۳۰۱ (۵.۳۳۳) (ا) 6، (ب) $\frac{22}{3}$

۲۷۳۰۲ (۵.۳۳۵) (ا) 0، (ب) $\frac{8}{3}$

۲۷۳۰۳ (۵.۳۳۷) $x = 1$ پر اوسط قیمت $f_{\text{اوسط}} = 0$ اختیار کی جاتی ہے۔

۲۷۳۰۴ (۵.۳۳۹) $x = \frac{\sqrt{3}}{3}$ پر اوسط قیمت $f_{\text{اوسط}} = -2$ اختیار کی جاتی ہے۔

۲۷۳۰۵ (۵.۳۴۱) $t = 0$ اور $t = 2$ پر اوسط قیمت $f_{\text{اوسط}} = 1$ اختیار کی جاتی
۲۷۳۰۶ ہے۔

۲۷۳۰۷ (۵.۳۴۳) (ا) $x = \mp\frac{1}{2}$ پر اوسط قیمت $g_{\text{اوسط}} = -\frac{1}{2}$ اختیار کی جاتی
۲۷۳۰۸ ہے۔(ب) $x = 2$ پر $g_{\text{اوسط}} = 1$ اختیار کی جاتی ہے۔(ج)
۲۷۳۰۹ $x = \frac{5}{4}$ پر $g_{\text{اوسط}} = \frac{1}{4}$ اختیار کی جاتی ہے۔

۲۷۳۱۰ (۵.۳۴۵) $\frac{3}{2}$

۲۷۳۱۱ (۵.۳۴۷) 0

۲۷۳۱۲ (۵.۳۴۹) بالائی حدود=1، زیریں حدود=1/2

۲۷۳۱۳ (۵.۳۵۷) بالائی حدود=1/2

۲۷۳۱۴ (۵.۳۶۱) $37.5\,\mathrm{km\,h^{-1}}$

۲۷۳۱۵ حصہ ۵.۷ صفحہ ۴۹۵

۲۷۳۱۶ (۵.۳۶۳) 6

۲۷۳۱۷ (۵.۳۶۵) 8

۲۷۳۱۸ (۵.۳۶۷) 1

۲۷۳۱۹ (۵.۳۶۹) $\frac{5}{2}$

۲۷۳۲۰ (۵.۳۷۱) 2

۲۷۳۲۱ (۵.۳۷۳) $2\sqrt{3}$

۲۷۳۲۲ (۵.۳۷۵) 0

۲۷۳۲۳ (۵.۳۷۷) $-\frac{\pi}{4}$

۲۷۳۲۴ (۵.۳۷۹) $\frac{2\pi^3}{3}$

۲۷۳۲۵ (۵.۳۸۱) $-\frac{8}{3}$

۲۷۳۲۶ (۵.۳۸۳) $-\frac{3}{4}$

۲۷۳۲۷ (۵.۳۸۵) $\sqrt{2} - \sqrt[4]{8} + 1$

۲۷۳۲۸ (۵.۳۸۷) 16

۲۷۳۲۹ (۵.۳۸۹) 0

۲۷۳۳۰ (۵.۳۹۱) $\frac{1}{3}(2\sqrt{2} - 1)$

۲۷۳۳۱ (۵.۳۹۳) $\frac{\pi}{2} + \sin 2$

۲۷۳۳۲ (۵.۳۹۵) $\frac{\sqrt{2}}{3}$

۲۷۳۳۳ (۵.۳۹۷) $\frac{28}{3}$

۲۷۳۳۴ (۵.۳۹۹) $\frac{1}{2}$

۲۷۳۳۵ (۵.۴۰۱) $\frac{51}{4}$

۲۷۳۳۶ (۵.۴۰۳) π

۲۷۳۳۷ (۵.۴۰۵) $\frac{\sqrt{2}\pi}{2}$

۲۷۳۳۸ (۵.۴۰۷) $(\cos\sqrt{x})(\frac{1}{2\sqrt{x}})$

۲۷۳۳۹ (۵.۴۰۹) $4t^5$

۲۷۳۴۰ (۵.۴۱۱) $\sqrt{1+x^2}$

۲۷۳۴۱ (۵.۴۱۳) $\frac{1}{2}x^{-1/2}\sin x$

۲۷۳۴۲ (۵.۴۱۵) 1

۲۷۳۴۳ (۵.۴۱۷) چونکہ $y' = \frac{1}{x}$ اور $y(\pi) = \int_\pi^\pi \frac{1}{t}\,\mathrm{d}t - 3 = -3$
۲۷۳۴۴ ہیں لہٰذا درست ہے۔

۲۷۳۴۵ (۵.۴۱۹) چونکہ $y = \sec x$ اور $y(0) = \int_0^0 \sec t\,\mathrm{d}t + 4 = 4$
۲۷۳۴۶ ہیں لہٰذا درست ہے۔

۲۷۳۴۷ (۵.۴۲۱) $y = \int_2^x \sec t\,\mathrm{d}t + 3$

۲۷۳۴۸ (۵.۴۲۳) $s = \int_{t_0}^t f(x)\,\mathrm{d}x + s_0$

۲۷۳۴۹ (۵.۴۲۵) (ا) $\frac{125}{6}$، (ب) $h = \frac{25}{4}$، (د) $d = \frac{2}{3}bh$

۲۷۳۵۰ (۵.۴۲۷) (ا) 9، (ب) 10

۲۷۳۵۱ (۵.۴۲۹) (ا) $v = \frac{\mathrm{d}s}{\mathrm{d}t} = \frac{\mathrm{d}}{\mathrm{d}t}\int_0^1 f(x)\,\mathrm{d}x =$
۲۷۳۵۲ $f(t) \implies v(5) = f(5) = 2\,\mathrm{m\,s^{-1}}$

۲۷۳۵۳ (ب) لمحہ $t = 5$ پر مماس منفی ہے لہٰذا $a = \frac{\mathrm{d}f}{\mathrm{d}t}$ منفی ہوگا۔

۲۷۳۵۴ (ج) $s = \int_0^3 f(x)\,\mathrm{d}x = \frac{1}{2}(3)(3) = \frac{9}{2}\,\mathrm{m}$

۲۷۳۵۵ تکمل کی قیمت درحقیقت $t = 0$ تا $t = 3$ تفاعل f اور
۲۷۳۵۶ x محور کے بیچ مثلثی رقبہ ہے۔

۲۷۳۵۷ (د) زیادہ سے زیادہ فاصلہ محہ $t = 6$ پر ہوگا چونکہ اس کے بعد
۲۷۳۵۸ $t = 6$ تا $t = 9$ تفاعل f منفی ہے جس سے رقبہ گھٹائے گا۔

۲۷۳۵۹ (ہ) $t = 4$ اور $t = 7$ پر جہاں مماس افقی ہیں۔

۲۷۳۶۰ (د) لمحہ $t = 6$ تا $t = 9$ رفتار منفی ہے لہٰذا اس دوران ذرہ مبدا
۲۷۳۶۱ کی جانب حرکت کرتا ہے۔ لمحہ $t = 0$ تا $t = 6$ رفتار مثبت ہے
۲۷۳۶۲ لہٰذا ذرہ مبدا سے دوری کے رخ حرکت کرتا ہے۔

۲۷۳۶۳ (ز) چونکہ $t = 0$ تا $t = 9$ مثبت رقبہ زیادہ ہے لہٰذا ذرہ مثبت
۲۷۳۶۴ (دائیں) جانب ہوگا۔

۲۷۳۶۵ (۵.۴۳۱) $\int_{-2}^2 4(9 - x^2)\,\mathrm{d}x = \frac{368}{3}$

۲۷۳۶۶ (۵.۴۳۳) $\int_4^8 \pi(64 - x^2)\,\mathrm{d}x = \frac{320\pi}{3}$

۲۷۳۶۷ (۵.۴۳۷) $2x - 2$

۲۷۳۶۸ (۵.۴۳۹) $-3x + 5$

۲۷۳۶۹ (۵.۴۴۱) (ا) درست، چونکہ f استمراری ہے لہٰذا احصاء کے بنیادی مسئلے کے جزو
۲۷۳۷۰ اول کے تحت g قابل تفرق ہوگا۔ (ب) درست۔ چونکہ g قابل
۲۷۳۷۱ تفرق ہے لہٰذا یہ استمراری ہوگا۔ (ج) درست چونکہ $g'(1) =$
۲۷۳۷۲ $f(1) = 0$ ہے۔ (د) غلط۔ چونکہ $g''(1) =$
۲۷۳۷۳ $f'(1) > 0$ ہے۔ (ہ) درست۔ چونکہ $g'(1) = 0$
۲۷۳۷۴ اور $g''(1) = f''(1) > 0$ ہیں۔ (و) غلط۔

۲۷۳۷۵ $g''(x) = f'(x) > 0$ لہٰذا g'' کی علامت کبھی تبدیل
۲۷۳۷۶ نہیں ہوتی ہے۔(ز) درست۔ چونکہ $g(1) = f(1) = 0$
۲۷۳۷۷ اور x کے ساتھ $g'(x) = f(x)$ بڑھتا تفاعل ہے (چونکہ
۲۷۳۷۸ $f'(x) > 0$ ہے)۔

۲۷۳۷۹ **حصہ ۵.۸ صفحہ ۵۰۷**

۲۷۳۸۰ ۵.۴۵۵) (ا) $\frac{14}{3}$، (ب) $\frac{2}{3}$
۲۷۳۸۱ ۵.۴۵۷) (ا) $\frac{1}{2}$، (ب) $-\frac{1}{2}$
۲۷۳۸۲ ۵.۴۵۹) (ا) $\frac{15}{16}$، (ب) 0
۲۷۳۸۳ ۵.۴۶۱) (ا) 0، (ب) $\frac{1}{8}$
۲۷۳۸۴ ۵.۴۶۳) (ا) 4، (ب) 0
۲۷۳۸۵ ۵.۴۶۵) (ا) $\frac{1}{6}$، (ب) $\frac{1}{2}$
۲۷۳۸۶ ۵.۴۶۷) (ا) 0، (ب) 0
۲۷۳۸۷ ۵.۴۶۹) $2\sqrt{3}$
۲۷۳۸۸ ۵.۴۷۱) $\frac{3}{4}$
۲۷۳۸۹ ۵.۴۷۳) $9^{5/4} - 1$
۲۷۳۹۰ ۵.۴۷۵) 3
۲۷۳۹۱ ۵.۴۷۷) $\frac{\pi}{3}$
۲۷۳۹۲ ۵.۴۷۹) $\frac{16}{3}$
۲۷۳۹۳ ۵.۴۸۱) $2^{5/2}$
۲۷۳۹۴ ۵.۴۸۳) $F(6) - F(2)$
۲۷۳۹۵ ۵.۴۸۵) (ا) -3، (ب) 3
۲۷۳۹۶ ۵.۴۸۷) $I = \frac{a}{2}$

۲۷۳۹۷ **حصہ ۵.۹ صفحہ ۵۱۹**

۲۷۳۹۸ ۵.۴۹۱) (:1 (ا) 1.5 ، 0 ، (ب) 1.5 ، 0 ، (ج) 0 % ؛
۲۷۳۹۹ (:2 (ا) 1.5 ، 0 ، (ب) 1.5 ، 0 ، (ج) 0 %
۲۷۴۰۰ ۵.۴۹۳) (:1 (ا) 2.75 ، 0.08 ، (ب) 2.67 ، 0.08 ،
۲۷۴۰۱ (ج) 0.0312 ≈ 3 % ؛
۲۷۴۰۲ (:2 (ا) 2.67 ، 0 ، (ب) 2.67 ، 0 ، (ج) 0 %
۲۷۴۰۳ ۵.۴۹۵) (:1 (ا) 6.25 ، 0.5 ، (ب) 6 ، 0.25 ،
۲۷۴۰۴ (ج) 0.0417 ≈ 4 % ؛
۲۷۴۰۵ (:2 (ا) 6 ، 0 ، (ب) 6 ، 0 ، (ج) 0 %
۲۷۴۰۶ ۵.۴۹۷) (:1 (ا) 0.509 ، 0.03125 ، (ب) 0.5 ، 0.009،
۲۷۴۰۷ (ج) 0.018 ≈ 2 % ؛
۲۷۴۰۸ (:2 (ا) 0.5 ، 0.002604 ، (ب) 0.5 ، 0.0004،
۲۷۴۰۹ (ج) 0 %
۲۷۴۱۰ ۵.۴۹۹) (:1 (ا) 1.8961 ، 0.161 ، (ب) 2 ، 0.1039 ،
۲۷۴۱۱ (ج) 0.052 ≈ 5 % ؛ (:2 (ا) 2.0045 ، 0.0066،
۲۷۴۱۲ (ب) 2 ، 0.00454 ، (ج) 0 %
۲۷۴۱۳ ۵.۵۰۱) (ا) 0.31929 ، (ب) 0.32812 ،
۲۷۴۱۴ (ج) $\frac{1}{3}$ ، 0.01404 ، 0.00521

۵.۵۰۳) (ا) 1.95643 ، (ب) 2.00421 ،
(ج) 2 ، 0.04357 ، -0.00421
۵.۵۰۵) (ا) 1 ، (ب) 2
۵.۵۰۷) (ا) 116 ، (ب) 2
۲۷۴۱۸
۵.۵۰۹) (ا) 283 ، (ب) 2
۲۷۴۱۹
۵.۵۱۱) (ا) 71 ، (ب) 10
۲۷۴۲۰
۵.۵۱۳) (ا) 76 ، (ب) 12
۲۷۴۲۱
۵.۵۱۵) (ا) 82 ، (ب) 8
۲۷۴۲۲
۵.۵۱۷) 4873
۲۷۴۲۳
۵.۵۱۹) $2973\,\mathrm{cm}^2$
۲۷۴۲۴
۵.۵۲۱) 4 ، 4
۲۷۴۲۵
۵.۵۲۳) (ا) 3.11571 ، (ب) 0.02588 ،
۲۷۴۲۶
(ج) $M = 3.11$ سے
۲۷۴۲۷
۲۷۴۲۸ $|E_T| \leq \frac{\pi^3}{1200}(3.11) < 0.081$ ملتا ہے۔
۵.۵۲۷) 1.08943
۲۷۴۲۹
۵.۵۲۹) 0.82812
۲۷۴۳۰

۲۷۴۳۱ **حصہ ۶.۱ صفحہ ۵۳۵**

۲۷۴۳۲ ۶.۱) $\frac{\pi}{2}$
۲۷۴۳۳ ۶.۳) $\frac{1}{12}$
۲۷۴۳۴ ۶.۵) $\frac{128}{15}$
۲۷۴۳۵ ۶.۷) $\frac{5}{6}$
۲۷۴۳۶ ۶.۹) $\frac{38}{3}$
۲۷۴۳۷ ۶.۱۱) $\frac{49}{6}$
۲۷۴۳۸ ۶.۱۳) $\frac{32}{3}$
۲۷۴۳۹ ۶.۱۵) $\frac{48}{5}$
۲۷۴۴۰ ۶.۱۷) $\frac{8}{3}$
۲۷۴۴۱ ۶.۱۹) 8
۲۷۴۴۲ ۶.۲۱) $\frac{5}{3}$ تین نقاط تقاطع پائے جاتے ہیں۔
۲۷۴۴۳ ۶.۲۳) 18
۲۷۴۴۴ ۶.۲۵) $\frac{243}{8}$
۲۷۴۴۵ ۶.۲۷) $\frac{8}{3}$
۲۷۴۴۶ ۶.۲۹) 2
۲۷۴۴۷ ۶.۳۱) $\frac{104}{15}$
۲۷۴۴۸ ۶.۳۳) $\frac{56}{15}$
۲۷۴۴۹ ۶.۳۵) 4
۲۷۴۵۰ ۶.۳۷) $\frac{4}{3} - \frac{4}{\pi}$
۲۷۴۵۱ ۶.۳۹) $\frac{\pi}{2}$
۲۷۴۵۲ ۶.۴۱) 2
۲۷۴۵۳ ۶.۴۳) $\frac{1}{2}$
۲۷۴۵۴ ۶.۴۵) 1
۲۷۴۵۵ ۶.۴۷) (ا) $(\mp\sqrt{c}, c)$، (ب) $c = 4^{2/3}$، (ج) $c=4^{2/3}$
۲۷۴۵۶ ۶.۴۹) $\frac{11}{3}$

۲۷۳۵۷ ۶.۵۱) $\frac{3}{4}$

۲۷۳۵۸ ۶.۵۳) کوئی نہیں

۲۷۳۵۹ حصہ ۶.۲ صفحہ ۵۴۳

۲۷۳۶۰ ۶.۵۹) (ا) $S(x) = \pi(1 - x^2)$ ،

۲۷۳۶۱ (ب) $S(x) = 4(1 - x^2)$ ،

۲۷۳۶۲ (ج) $S(x) = 2(1 - x^2)$ ،

۲۷۳۶۳ (د) $S(x) = \sqrt{3}(1 - x^2)$

۲۷۳۶۴ ۶.۶۱) 16

۲۷۳۶۵ ۶.۶۳) $\frac{16}{3}$

۲۷۳۶۶ ۶.۶۵) (ا) $2\sqrt{3}$ ،(ب) 8

۲۷۳۶۷ ۶.۶۷) 8π

۲۷۳۶۸ ۶.۶۹) (ا) s^2h ،(ب) s^2h

۲۷۳۶۹ حصہ ۶.۳ صفحہ ۵۵۵

۲۷۳۷۰ ۶.۷۳) $\frac{2\pi}{3}$

۲۷۳۷۱ ۶.۷۵) $4 - \pi$

۲۷۳۷۲ ۶.۷۷) $\frac{32\pi}{5}$

۲۷۳۷۳ ۶.۷۹) 36π

۲۷۳۷۴ ۶.۸۱) π

۲۷۳۷۵ ۶.۸۳) $\pi\left(\frac{\pi}{2} + 2\sqrt{2} - \frac{11}{3}\right)$

۲۷۳۷۶ ۶.۸۵) 2π

۲۷۳۷۷ ۶.۸۷) 2π

۲۷۳۷۸ ۶.۸۹) 3π

۲۷۳۷۹ ۶.۹۱) $\pi^2 - 2\pi$

۲۷۳۸۰ ۶.۹۳) $\frac{2\pi}{3}$

۲۷۳۸۱ ۶.۹۵) 2π

۲۷۳۸۲ ۶.۹۷) $\frac{117\pi}{5}$

۲۷۳۸۳ ۶.۹۹) $\pi(\pi - 2)$

۲۷۳۸۴ ۶.۱۰۱) $\frac{4\pi}{3}$

۲۷۳۸۵ ۶.۱۰۳) 8π

۲۷۳۸۶ ۶.۱۰۵) $\sqrt{3}\pi$

۲۷۳۸۷ ۶.۱۰۷) $\frac{7\pi}{6}$

۲۷۳۸۸ ۶.۱۰۹) (ا) 8π ،(ب) $\frac{32\pi}{5}$ ،(ج) $\frac{8\pi}{3}$ ،(د) $\frac{224\pi}{15}$

۲۷۳۸۹ ۶.۱۱۱) (ا) $\frac{16\pi}{15}$ ،(ب) $\frac{56\pi}{15}$ ،(ج) $\frac{64\pi}{15}$

۲۷۳۹۰ ۶.۱۱۳) $H = 1053\pi\,\text{cm}^3$

۲۷۳۹۱ ۶.۱۱۵) (ا) $c = \frac{2}{\pi}$ ،(ب) $c = 0$

۲۷۳۹۲ ۶.۱۱۷) $H = 2a^2b\pi^2$

۲۷۳۹۳ ۶.۱۱۹) (ب) $H = \frac{\pi r^2 h}{3}$

۲۷۳۹۴ حصہ ۶.۴ صفحہ ۵۶۵

۲۷۳۹۵ ۶.۱۲۰) 6π

۲۷۳۹۶ ۶.۱۲۲) 2π

۲۷۳۹۷ ۶.۱۲۴) $\frac{14\pi}{3}$

۲۷۳۹۸ ۶.۱۲۶) 8π

۲۷۳۹۹ ۶.۱۲۸) $\frac{5\pi}{6}$

۲۷۵۰۰ ۶.۱۳۰) $\frac{128\pi}{5}$

۲۷۵۰۱ ۶.۱۳۲) 3π

۲۷۵۰۲ ۶.۱۳۴) $\frac{16\pi}{15}(3\sqrt{2} + 5)$

۲۷۵۰۳ ۶.۱۳۶) $\frac{8\pi}{3}$

۲۷۵۰۴ ۶.۱۳۸) $\frac{4\pi}{3}$

۲۷۵۰۵ ۶.۱۴۰) $\frac{16\pi}{3}$

۲۷۵۰۶ ۶.۱۴۲) (ا) $\frac{6\pi}{5}$ ،(ب) $\frac{4\pi}{5}$ ،(ج) 2π ،(د) 2π

۲۷۵۰۷ ۶.۱۴۴) (ا) $\frac{5\pi}{3}$ ،(ب) $\frac{4\pi}{3}$ ،(ج) 2π ،(د) $\frac{2\pi}{3}$

۲۷۵۰۸ ۶.۱۴۶) (ا) $\frac{11\pi}{15}$ ،(ب) $\frac{97\pi}{105}$ ،(ج) $\frac{121\pi}{210}$ ،(د) $\frac{23\pi}{30}$

۲۷۵۰۹ ۶.۱۴۸) (ا) $\frac{512\pi}{21}$ ،(ب) $\frac{832\pi}{21}$

۲۷۵۱۰ ۶.۱۵۰) (ا) $\frac{\pi}{6}$ ،(ب) $\frac{\pi}{6}$

۲۷۵۱۱ ۶.۱۵۲) $\frac{9\pi}{16}$

۲۷۵۱۲ ۶.۱۵۴) (ب) 4π

۲۷۵۱۳ ۶.۱۵۶) قرص: دو تکمل؛ چھلا: دو تکمل؛ خول: ایک تکمل

۲۷۵۱۴ ۶.۱۵۸) $3x$

۲۷۵۱۵ حصہ ۶.۵ صفحہ ۵۷۶

۲۷۵۱۶ ۶.۱۵۹) (ا) $\int_{-1}^{2} \sqrt{1 + 4x^2}\,\mathrm{d}x$ ،(ج) ≈ 6.13

۲۷۵۱۷ ۶.۱۶۱) (ا) $\int_{0}^{\pi} \sqrt{1 + \cos^2 y}\,\mathrm{d}y$ ،(ج) ≈ 3.82

۲۷۵۱۸ ۶.۱۶۳) (ا) $\int_{-1}^{3} \sqrt{1 + (y+1)^2}\,\mathrm{d}y$ ،(ج) ≈ 9.29

۲۷۵۱۹ ۶.۱۶۵) (ا) $\int_{0}^{\pi/6} \sec x\,\mathrm{d}x$ ،(ج) ≈ 0.55

۲۷۵۲۰ ۶.۱۶۷) 12

۲۷۵۲۱ ۶.۱۶۹) $\frac{53}{6}$

۲۷۵۲۲ ۶.۱۷۱) $\frac{123}{32}$

۲۷۵۲۳ ۶.۱۷۳) $\frac{99}{8}$

۲۷۵۲۴ ۶.۱۷۵) 2

۲۷۵۲۵ ۶.۱۷۷) (ا) $y = \sqrt{x}$ یا $y = -\sqrt{x} + 2$ ،(ب) دو

۲۷۵۲۶ ۶.۱۷۹) 1

۲۷۵۲۷ ۶.۱۸۱) $50.44\,\text{cm}$

۲۷۵۲۸ حصہ ۶.۶ صفحہ ۵۸۶

۲۷۵۲۹ ۶.۱۹۱) (ا) $2\pi \int_{0}^{\pi/4} \tan x\sqrt{1 + \sec^4 x}\,\mathrm{d}x$ ،

۲۷۵۳۰ ≈ 3.84 (ج)

۲۷۵۳۱ ۶.۱۹۳) (ا) $2\pi \int_{1}^{2} \frac{1}{y}\sqrt{1 + y^{-4}}\,\mathrm{d}y$ ،(ج) ≈ 5.02

۲۷۵۳۲ ۶.۱۹۵) (ا) $2\pi \int_{0}^{4} (3 - \sqrt{x})^2 \sqrt{1 + (1 - 3x^{-1/2})^2}\,\mathrm{d}x$ ،

۲۷۵۳۳ ≈ 63.37 (ج)

۲۷۵۳۴ (۶.۱۹۷ (ا) $2\pi \int_0^{\pi/3} \left(\int_0^y \tan t \, dt\right) \sec y \, dy$ ،

۲۷۵۳۵ (ج) ≈ 2.08

۲۷۵۳۶ (۶.۱۹۹ $4\pi\sqrt{5}$

۲۷۵۳۷ (۶.۲۰۱ $3\pi\sqrt{5}$

۲۷۵۳۸ (۶.۲۰۳ $\frac{98\pi}{81}$

۲۷۵۳۹ (۶.۲۰۵ 2π

۲۷۵۴۰ (۶.۲۰۷ $\frac{\pi(\sqrt{8}-1)}{9}$

۲۷۵۴۱ (۶.۲۰۹ $\frac{35\pi\sqrt{5}}{3}$

۲۷۵۴۲ (۶.۲۱۱ $\frac{253\pi}{20}$

۲۷۵۴۳ (۶.۲۱۵ (ا) $2\pi \int_{-\pi/2}^{\pi/2} (\cos x)\sqrt{1+\sin^2 x}\, dx$ ،

۲۷۵۴۴ (ب) ≈ 14.4236

۲۷۵۴۵ (۶.۲۱۷ $452.4\,\mathrm{L}$

۲۷۵۴۶ (۶.۲۲۱ $5\sqrt{2}\pi$

۲۷۵۴۷ (۶.۲۲۳ 14.4

۲۷۵۴۸ (۶.۲۲۵ 54.9

۲۷۵۴۹ حصہ ۶.۷ صفحہ ۶۰۲

۲۷۵۵۰ (۶.۲۲۸ $\frac{8}{5}\,\mathrm{m}$

۲۷۵۵۱ (۶.۲۳۰ $\left(\frac{L}{4}, \frac{L}{4}\right)$

۲۷۵۵۲ (۶.۲۳۲ $M_0 = 8,\ M = 8,\ \bar{x} = 1$

۲۷۵۵۳ (۶.۲۳۴ $M_0 = \frac{15}{2},\ M = \frac{9}{2},\ \bar{x} = \frac{5}{3}$

۲۷۵۵۴ (۶.۲۳۶ $M_0 = \frac{73}{6},\ M = 5,\ \bar{x} = \frac{73}{30}$

۲۷۵۵۵ (۶.۲۳۸ $M_0 = 3,\ M = 3,\ \bar{x} = 1$

۲۷۵۵۶ (۶.۲۴۰ $\bar{x} = 0,\ \bar{y} = \frac{12}{5}$

۲۷۵۵۷ (۶.۲۴۲ $\bar{x} = 1,\ \bar{y} = -\frac{3}{5}$

۲۷۵۵۸ (۶.۲۴۴ $\bar{x} = \frac{16}{105},\ \bar{y} = \frac{8}{15}$

۲۷۵۵۹ (۶.۲۴۶ $\bar{x} = 0,\ \bar{y} = \frac{\pi}{8}$

۲۷۵۶۰ (۶.۲۴۸ $\bar{x} = 1,\ \bar{y} - \frac{2}{5}$

۲۷۵۶۱ (۶.۲۵۰ $\bar{x} = \bar{y} = \frac{2}{4-\pi}$

۲۷۵۶۲ (۶.۲۵۲ $\bar{x} = \frac{3}{2},\ \bar{y} = \frac{1}{2}$

۲۷۵۶۳ (۶.۲۵۴ (الف) $\frac{224\pi}{3}$ ،(ب) $\bar{x} = 2,\ \bar{y} = 0$ ،(ج)

۲۷۵۶۴

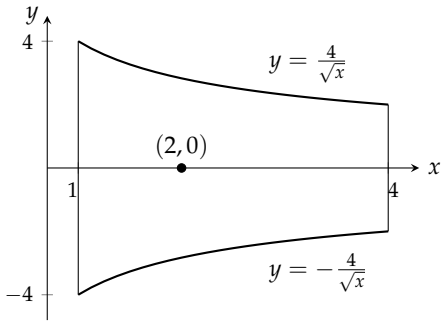

۲۷۵۶۵

۲۷۵۶۶ (۶.۲۵۸ $\bar{x} = \bar{y} = \frac{1}{3}$

۲۷۵۶۷ (۶.۲۶۰ $\bar{x} = \frac{a}{3},\ \bar{y} = \frac{b}{3}$

۲۷۵۶۸ (۶.۲۶۲ $\frac{13\delta}{6}$

۲۷۵۶۹ (۶.۲۶۴ $\bar{x} = 0,\ \bar{y} = \frac{a\pi}{4}$

۲۷۵۷۰ حصہ ۶.۸ صفحہ ۶۱۳

۲۷۵۷۱ (۶.۲۷۰ $1960\,\mathrm{J}$

۲۷۵۷۲ (۶.۲۷۲ $780\,\mathrm{J}$

۲۷۵۷۳ (۶.۲۷۴ $1764\,\mathrm{J}$

۲۷۵۷۴ (۶.۲۷۸ $400\,\mathrm{N\,m^{-1}}$

۲۷۵۷۵ (۶.۲۸۰ $0.08\,\mathrm{J}$ ، $4\,\mathrm{cm}$

۲۷۵۷۶ (۶.۲۸۲ (ا) $10^6\,\mathrm{N\,m^{-1}}$ × 1.25 ،(ب) $62.5\,\mathrm{J}$ ،

۲۷۵۷۷ $187.5\,\mathrm{J}$

۲۷۵۷۸ (۶.۲۸۴ (ا) $18.375 \times 10^6\,\mathrm{J}$ ،(ب) 20 گھنٹے اور 25 منٹ۔(د)

۲۷۵۷۹ 20 گھنٹے اور 22.5 منٹ، 20 گھنٹے اور 29 منٹ۔

۲۷۵۸۰ (۶.۲۸۶ $38\,484\,510\,\mathrm{J}$

۲۷۵۸۱ (۶.۲۸۸ $19.95 \times 10^6\,\mathrm{J}$

۲۷۵۸۲ (۶.۲۹۰ $0.43\,\mathrm{J}$

۲۷۵۸۳ (۶.۲۹۲ $21\,446\,605.9\,\mathrm{J}$

۲۷۵۸۴ (۶.۲۹۴ $4\,027\,512\,\mathrm{J}$

۲۷۵۸۵ (۶.۲۹۶ $5.144 \times 10^{10}\,\mathrm{J}$

۲۷۵۸۶ (۶.۳۰۰ $117.6\,\mathrm{J}$

۲۷۵۸۷ (۶.۳۰۲ $67\,901\,\mathrm{J}$

۲۷۵۸۸ (۶.۳۰۴ $56.25\,\mathrm{J}$

۲۷۵۸۹ حصہ ۶.۹ صفحہ ۶۲۳

۲۷۵۹۰ (۶.۳۰۶ $1.23 \times 10^9\,\mathrm{N}$

۲۷۵۹۱ (۶.۳۰۷ $6.08 \times 10^7\,\mathrm{N}$

۲۷۵۹۲ (۶.۳۱۰ $163\,333\,\mathrm{N}$

۲۷۵۹۳ (۶.۳۱۲ (ا) $182\,933\,\mathrm{N}$ ،(ب) $188\,238\,\mathrm{N}$

۲۷۵۹۴ (۶.۳۱۴ (ا) $58\,800\,\mathrm{N}$ ،(ب) $61.9\,\mathrm{cm}$ ،(ج) چونکہ فشار صرف

۲۷۵۹۵ گہرائی پر منحصر ہے لہٰذا المبائی کا قوت سیال پر کوئی اثر نہیں ہوگا۔

۲۷۵۹۶ ۶.۳۱۶) $15\,126.3\,\mathrm{N}$

۲۷۵۹۷ ۶.۳۱۸) $20.2\,\mathrm{N}$

۲۷۵۹۸ ۶.۳۲۰) $102.08\,\mathrm{N}$

۲۷۵۹۹ ۶.۳۲۲) (ا) $22\,827\,\mathrm{N}$، (ب) $2.6544\,\mathrm{m}$

۲۷۶۰۰ ۶.۳۲۴) $1133.77\,\mathrm{m}^3$

۲۷۶۰۱ ۶.۳۲۶) $\frac{wb}{2}$

۲۷۶۰۲ حصہ ۶.۱۰ صفحہ ۶۳۴

۲۷۶۰۳ ۶.۳۲۸) (ب) $20\,\mathrm{m}$، (ج) $0\,\mathrm{m}$

۲۷۶۰۴ ۶.۳۳۰) (ب) $6\,\mathrm{m}$، (ج) $2\,\mathrm{m}$

۲۷۶۰۵ ۶.۳۳۲) (ب) $245\,\mathrm{m}$، (ج) $0\,\mathrm{m}$

۲۷۶۰۶ ۶.۳۳۴) (ب) $6\,\mathrm{m}$، (ج) $4\,\mathrm{m}$

۲۷۶۰۷ ۶.۳۳۶) (ب) $2 < t < 4$، (ج) $6\,\mathrm{m}$، (د) $\frac{22}{3}\,\mathrm{m}$

۲۷۶۰۸ ۶.۳۳۸) (ا) کل فاصلہ 7، ہٹاو 3؛ (ب) کل فاصلہ 19.5، ہٹاو 4.5

۲۷۶۰۹ ۶.۳۴۰) $\sqrt{3}\pi$

۲۷۶۱۰ ۶.۳۴۲) (ا) $82.67\,\mathrm{m}^3$، (ب) $85\,071\,\mathrm{kg}$

۲۷۶۱۱ ۶.۳۴۳) $H = 32\pi$ ، $S = 32\sqrt{2}\pi$

۲۷۶۱۲ ۶.۳۴۵) $4\pi^2$

۲۷۶۱۳ ۶.۳۴۷) $\bar{x} = 0$ ، $\bar{y} = \frac{2a}{\pi}$

۲۷۶۱۴ ۶.۳۴۹) $\bar{x} = 0$ ، $\bar{y} = \frac{4b}{3\pi}$

۲۷۶۱۵ ۶.۳۵۱) $\frac{\sqrt{2}\pi a^3(4+3\pi)}{6}$

۲۷۶۱۶ ۶.۳۵۳) $\frac{2a^3}{3}$

۲۷۶۱۷ حصہ ۷.۱ صفحہ ۶۴۸

۲۷۶۱۸ ۷.۱) ایک ایک

۲۷۶۱۹ ۷.۳) غیر ایک ایک

۲۷۶۲۰ ۷.۵) ایک ایک

۲۷۶۲۱ ۷.۷) دائرہ کار $(0,1]$، سعت $[0,\infty)$

۲۷۶۲۲

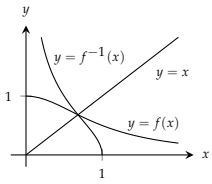

۲۷۶۲۳ ۷.۹) دائرہ کار $[-1,1]$، سعت $-\frac{\pi}{2}, \frac{\pi}{2}$

۲۷۶۲۴

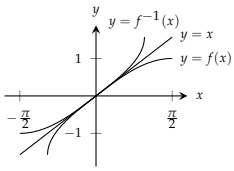

۲۷۶۲۵ ۷.۱۱) لکیر $y = x$ کے لحاظ سے تشاکلی ہے۔

۲۷۶۲۶

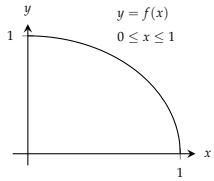

۲۷۶۲۷ ۷.۱۳) $f^{-1}(x) = \sqrt{x-1}$

۲۷۶۲۸ ۷.۱۵) $f^{-1}(x) = \sqrt[3]{x+1}$

۲۷۶۲۹ ۷.۱۷) $f^{-1}(x) = \sqrt{x} - 1$

۲۷۶۳۰ ۷.۱۹) $f^{-1}(x) = \sqrt[5]{x}$ دائرہ کار $-\infty < x < \infty$، سعت

۲۷۶۳۱ $-\infty < y < \infty$

۲۷۶۳۲ ۷.۲۱) $f^{-1}(x) = \sqrt[3]{x-1}$ دائرہ کار $-\infty < x < \infty$ ،

۲۷۶۳۳ سعت $-\infty < y < \infty$

۲۷۶۳۴ ۷.۲۳) $f^{-1}(x) = \frac{1}{\sqrt{x}}$ دائرہ کار $x > 0$، سعت $y > 0$

۲۷۶۳۵ ۷.۲۵) (ا) $f^{-1}(x) = \frac{x}{2} - \frac{3}{2}$

۲۷۶۳۶ (ب)

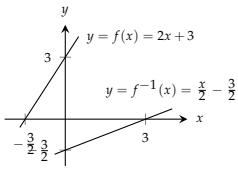

۲۷۶۳۷ (ج) $2, \frac{1}{2}$

۲۷۶۳۸ ۷.۲۷) (ا) $f^{-1}(x) = -\frac{x}{4} + \frac{5}{4}$

۲۷۶۳۹ (ب)

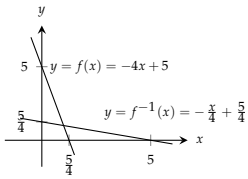

۲۷۶۴۰ (ج) $-4, -\frac{1}{4}$

۲۷۶۴۱ ۷.۲۹) (ب)

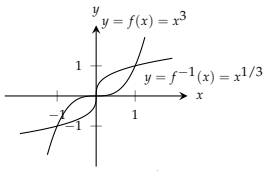

۲۷۶۴۲ (ج) $(1,1)$ پر f کا ڈھلوان 3 ہے؛ $(1,1)$ پر g کا ڈھلوان

۲۷۶۴۳ $\frac{1}{3}$ ہے؛ $-1,-1$ پر f کا ڈھلوان 3 اور $(-1,-1)$ پر

۲۷۶۴۴ g ڈھلوان $\frac{1}{3}$ ہے۔ (د) $x = 0$ پر $y = x^3$ کا مماس

۲۷۶۴۵ $y = 0$ ہے؛ $x = 0$ پر $y = \sqrt[3]{x}$ کا مماس $x = 0$

۲۷۶۴۶ ہے۔

۲۷۶۴۷ ۷.۳۱) $\frac{1}{9}$

۲۷۶۴۸ (۷.۳۳ 3

۲۷۶۴۹ (۷.۳۵ (ا) $f^{-1}(x) = \frac{x}{m}$، (ب) f^{-1} کی ترسیم مبدا سے گزرتی
۲۷۶۵۰ ہے اور اس کا ڈھلوان $\frac{1}{m}$ ہے۔

۲۷۶۵۱ (۷.۳۷ (ا) $f^{-1}(x) = x - 1$، (ب) $f^{-1}(x) = x - b$ ، f^{-1} کی ترسیم f کی ترسیم کے متوازی ہے۔
۲۷۶۵۳ اور f کی ترسیمات لکیر $y = x$ کے مخالف اطراف پر اور اس لکیر
۲۷۶۵۴ سے برابر فاصلہ پر ہیں۔ (ج) ترسیمات ایک دوسرے کے متوازی ہوں گے
۲۷۶۵۵ اور لکیر $y = x$ کے مخالف اطراف اور برابر فاصلہ پر ہوں گے۔

۲۷۶۵۶ (۷.۴۱ بڑھتا، لہٰذا ایک ایک؛ $\frac{\mathrm{d}f^{-1}}{\mathrm{d}x} = \frac{1}{9}x^{-2/3}$

۲۷۶۵۷ (۷.۴۳ گھٹتا، لہٰذا ایک ایک؛ $\frac{\mathrm{d}f^{-1}}{\mathrm{d}x} = -\frac{1}{3}x^{-2/3}$

۲۷۶۵۸ حصہ ۷.۲ صفحہ ۶۶۴

۲۷۶۵۹ (۷.۶۳ (ا) $\ln 3 - 2\ln 2$، (ب) $2(\ln 2 - \ln 3)$، (ج)
۲۷۶۶۰ $-\ln 2$، (د) $\frac{2}{3}\ln 3$، (ہ) $\frac{1}{2}\ln 2$، (و) $\ln 3$
۲۷۶۶۱ $\frac{1}{2}(3\ln 3 - \ln 2)$

۲۷۶۶۲ (۷.۶۵ (ا) $\ln 5$، (ب) $\ln(x-3)$، (ج) $\ln(t^2)$

۲۷۶۶۳ (۷.۶۷ $\frac{1}{x}$

۲۷۶۶۴ (۷.۶۹ $\frac{2}{t}$

۲۷۶۶۵ (۷.۷۱ $-\frac{1}{x}$

۲۷۶۶۶ (۷.۷۳ $\frac{1}{\theta+1}$

۲۷۶۶۷ (۷.۷۵ $\frac{3}{x}$

۲۷۶۶۸ (۷.۷۷ $2\ln t + (\ln t)^2$

۲۷۶۶۹ (۷.۷۹ $x^3 \ln x$

۲۷۶۷۰ (۷.۸۱ $\frac{1-\ln t}{t^2}$

۲۷۶۷۱ (۷.۸۳ $\frac{1}{x(1+\ln x)^2}$

۲۷۶۷۲ (۷.۸۵ $\frac{1}{x\ln x}$

۲۷۶۷۳ (۷.۸۷ $2\cos(\ln\theta)$

۲۷۶۷۴ (۷.۸۹ $-\frac{3x+2}{2x(x+1)}$

۲۷۶۷۵ (۷.۹۱ $\frac{2}{t(1-\ln t)^2}$

۲۷۶۷۶ (۷.۹۳ $\frac{\tan(\ln\theta)}{\theta}$

۲۷۶۷۷ (۷.۹۵ $\frac{10x}{x^2+1} + \frac{1}{2(1-x)}$

۲۷۶۷۸ (۷.۹۷ $2x\ln|x| - x\ln\frac{|x|}{\sqrt{2}}$

۲۷۶۷۹ (۷.۹۹ $\frac{1}{2}\sqrt{x(x+1)}\left(\frac{1}{x}+\frac{1}{x+1}\right) = \frac{2x+1}{2\sqrt{x(x+1)}}$

۲۷۶۸۰ (۷.۱۰۱ $\frac{1}{2}\sqrt{\frac{t}{t+1}}\left(\frac{1}{t}-\frac{1}{t+1}\right) = \frac{1}{2\sqrt{t}(t+1)^{3/2}}$

۲۷۶۸۱ (۷.۱۰۳ $\sqrt{\theta+3}(\sin\theta)\left(\frac{1}{2(\theta+3)}+\cot\theta\right)$

۲۷۶۸۲ (۷.۱۰۵ $t(t+1)(t+2)[\frac{1}{t}+\frac{1}{t+1}+\frac{1}{t+2}] =$
۲۷۶۸۳ $3t^2+6t+2$

۲۷۶۸۴ (۷.۱۰۷ $\frac{\theta+5}{\theta\cos\theta}[\frac{1}{\theta+5}-\frac{1}{\theta}+\tan\theta]$

۲۷۶۸۵ (۷.۱۰۹ $\frac{x\sqrt{x^2+1}}{(x+1)^{2/3}}[\frac{1}{x}+\frac{x}{x^2+1}-\frac{2}{3(x+1)}]$

۲۷۶۸۶ (۷.۱۱۱ $\frac{1}{3}\sqrt[3]{\frac{x(x-2)}{x^2+1}}\left(\frac{1}{x}+\frac{1}{x-2}-\frac{2x}{x^2+1}\right)$

۲۷۶۸۷ (۷.۱۱۳ $\ln\left(\frac{2}{3}\right)$

۲۷۶۸۸ (۷.۱۱۵ $\ln\left|y^2-25\right|+C$

۲۷۶۸۹ (۷.۱۱۷ $\ln 3$

۲۷۶۹۰ (۷.۱۱۹ $(\ln 2)^2$

۲۷۶۹۱ (۷.۱۲۱ $\frac{1}{\ln 4}$

۲۷۶۹۲ (۷.۱۲۳ $\ln|6+3\tan t|+C$

۲۷۶۹۳ (۷.۱۲۵ $\ln 2$

۲۷۶۹۴ (۷.۱۲۷ $\ln 27$

۲۷۶۹۵ (۷.۱۲۹ $\ln(1+\sqrt{x})+C$

۲۷۶۹۶ (۷.۱۳۱ (ا) $x = 0$ پر بلند تر اور $x = \frac{\pi}{3}$ پر کم تر $-\ln 2$ ؛
۲۷۶۹۷ (ب) $x = 1$ پر بلند تر اور $x = \frac{1}{2}$ پر کم تر
۲۷۶۹۸ $\cos(\ln 2)$

۲۷۶۹۹ (۷.۱۳۳ $\ln 16$

۲۷۷۰۰ (۷.۱۳۵ $4\pi\ln 4$

۲۷۷۰۱ (۷.۱۳۷ $\pi\ln 16$

۲۷۷۰۲ (۷.۱۳۹ (ا) $6+\ln 2$، (ب) $8+\ln 9$

۲۷۷۰۳ (۷.۱۴۱ (ا) $\bar{x}\approx 1.44,\ \bar{y}\approx 0.36$

۲۷۷۰۴ (۷.۱۴۳ $y = x+\ln|x|+2$

۲۷۷۰۵ (۷.۱۴۵ (ب) 0.00469

۲۷۷۰۶ (۷.۱۴۷ 2

۲۷۷۰۷ حصہ ۷.۳ صفحہ ۶۷۶

۲۷۷۰۸ (۷.۱۵۳ (ا) 7.2، (ب) $\frac{1}{x^2}$، (ج) $\frac{x}{y}$

۲۷۷۰۹ (۷.۱۵۵ (ا) 1، (ب) 1، (ج) $-x^2-y^2$

۲۷۷۱۰ (۷.۱۵۷ e^{2t+4}

۲۷۷۱۱ (۷.۱۵۹ $e^{5t}+40$

۲۷۷۱۲ (۷.۱۶۱ $y = 2xe^x+1$

۲۷۷۱۳ (۷.۱۶۳ (ا) $k = \ln 2$، (ب) $k = \frac{1}{10}\ln 2$ ،
۲۷۷۱۴ (ج) $k = 1000\ln a$

۲۷۷۱۵ (۷.۱۶۵ (ا) $t = -10\ln 3$، (ب) $t = -\frac{\ln 2}{k}$ ،
۲۷۷۱۶ (ج) $t = \frac{\ln 0.4}{\ln 0.2}$

۲۷۷۱۷ (۷.۱۶۷ $4(\ln x)^2$

۲۷۷۱۸ (۷.۱۶۹ $-5e^{-5x}$

۲۷۷۱۹ (۷.۱۷۱ $-7e^{5-7x}$

۲۷۷۲۰ (۷.۱۷۳ xe^x

۲۷۷۲۱ (۷.۱۷۵ x^2e^x

۲۷۷۲۲ (۷.۱۷۷ $2e^\theta\cos\theta$

۲۷۷۲۳ (۷.۱۷۹ $2\theta e^{-\theta^2}\sin(e^{-\theta^2})$

۲۷۷۴۴ (۷.۱۸۱) $\frac{1-t}{t}$

۲۷۷۴۵ (۷.۱۸۳) $\frac{1}{1+e^{\theta}}$

۲۷۷۴۶ (۷.۱۸۵) $e^{\cos t}(1-t\sin t)$

۲۷۷۴۷ (۷.۱۸۷) $\frac{\sin x}{x}$

۲۷۷۴۸ (۷.۱۸۹) $\frac{ye^{y}\cos x}{1-ye^{y}\sin x}$

۲۷۷۴۹ (۷.۱۹۱) $\frac{2e^{2x}-\cos(x+3y)}{3\cos(x+3y)}$

۲۷۷۵۰ (۷.۱۹۳) $\frac{1}{3}e^{3x}-5e^{-x}+C$

۲۷۷۵۱ (۷.۱۹۵) 1

۲۷۷۵۲ (۷.۱۹۷) $8e^{x+1}+C$

۲۷۷۵۳ (۷.۱۹۹) 2

۲۷۷۵۴ (۷.۲۰۱) $2e^{\sqrt{r}}+C$

۲۷۷۵۵ (۷.۲۰۳) $-e^{-t^2}+C$

۲۷۷۵۶ (۷.۲۰۵) $-e^{1/x}+C$

۲۷۷۵۷ (۷.۲۰۷) e

۲۷۷۵۸ (۷.۲۰۹) $\frac{1}{\pi}e^{\sec \pi t}+C$

۲۷۷۵۹ (۷.۲۱۱) 1

۲۷۷۶۰ (۷.۲۱۳) $\ln(1+e^{r})+C$

۲۷۷۶۱ (۷.۲۱۵) $y=1-\cos(e^{t}-2)$

۲۷۷۶۲ (۷.۲۱۷) $y=2(e^{-x}+x)-1$

۲۷۷۶۳ (۷.۲۱۹) نقطہ $x=0$ پر مطلق زیادہ سے زیادہ 1 ؛نقطہ $x=\ln 2$ پر

۲۷۷۶۴ مطلق کم سے کم $2-2\ln 2$

۲۷۷۶۵ (۷.۲۲۱) $x=\frac{1}{\sqrt{e}}$ پر مطلق زیادہ سے زیادہ $\frac{1}{2e}$

۲۷۷۶۶ (۷.۲۲۳) 2

۲۷۷۶۷ (۷.۲۲۵) $y=e^{x/2}-1$

۲۷۷۶۸ (۷.۲۲۷) (ا) $\frac{d}{dx}(x\ln x-x+C)=x\cdot\frac{1}{x}+\ln x-1$

۲۷۷۶۹ $1+0=\ln x$ ،(ب) $\frac{1}{e-1}$

۲۷۷۷۰ (۷.۲۲۹) (ب) حتمی خلل تقریباً 0.02140

۲۷۷۷۱ (۷.۲۳۱) $2.718\,281\,83$

۲۷۷۷۲ حصہ ۷.۴ صفحہ ۶۸۵

۲۷۷۷۳ (۷.۲۳۵) ا) 7 ،ب) $\sqrt{2}$ ،ج) 75 ،د) 0.5 ،ھ) 2 ،و) -1

۲۷۷۷۴ (۷.۲۳۷) ا) $\sqrt{x}$ ،ب) x^2 ،ج) $\sin x$

۲۷۷۷۵ (۷.۲۳۹) ا) $\frac{\ln 3}{\ln 2}$ ،ب) 3 ،ج) 2

۲۷۷۷۶ (۷.۲۴۱) $x=12$

۲۷۷۷۷ (۷.۲۴۳) $x=3$ یا $x=2$

۲۷۷۷۸ (۷.۲۴۵) $2^{x}\ln x$

۲۷۷۷۹ (۷.۲۴۷) $(\frac{\ln 5}{2\sqrt{s}})5^{\sqrt{s}}$

۲۷۷۸۰ (۷.۲۴۹) $\pi x^{\pi-1}$

۲۷۷۸۱ (۷.۲۵۱) $-\sqrt{2}\cos\theta^{(\sqrt{2}-1)}\sin\theta$

۲۷۷۸۲ (۷.۲۵۳) $7^{\sec\theta}(\ln 7)^2(\sec\theta\tan\theta)$

۲۷۷۸۳ (۷.۲۵۵) $(3\cos 3t)(2^{\sin 3t})\ln 2$

۲۷۷۸۴ (۷.۲۵۷) $\frac{1}{\theta\ln 2}$

۲۷۷۸۵ (۷.۲۵۹) $\frac{3}{x\ln 4}$

۲۷۷۸۶ (۷.۲۶۱) $\frac{2(\ln r)}{r(\ln 2)(\ln 4)}$

۲۷۷۸۷ (۷.۲۶۳) $\frac{-2}{(x+1)(x-1)}$

۲۷۷۸۸ (۷.۲۶۵) $\sin(\log_7\theta)+\frac{1}{\ln 7}\cos(\log_7\theta)$

۲۷۷۸۹ (۷.۲۶۷) $\frac{1}{\ln 5}$

۲۷۷۹۰ (۷.۲۶۹) $\frac{1}{t}(\log_2 3)3^{\log_2 t}$

۲۷۷۹۱ (۷.۲۷۱) $\frac{1}{t}$

۲۷۷۹۲ (۷.۲۷۳) $(x+1)^{x}(\frac{x}{x+1}+\ln(x+1))$

۲۷۷۹۳ (۷.۲۷۵) $(\sqrt{t})^{t}(\frac{\ln t}{2}+\frac{1}{2})$

۲۷۷۹۴ (۷.۲۷۷) $(\sin x)^{x}(\ln\sin x+x\cot x)$

۲۷۷۹۵ (۷.۲۷۹) $(x^{\ln x})(\frac{\ln x^2}{x})$

۲۷۷۹۶ (۷.۲۸۱) $\frac{5^{x}}{\ln 5}+C$

۲۷۷۹۷ (۷.۲۸۳) $\frac{1}{2\ln 2}$

۲۷۷۹۸ (۷.۲۸۵) $\frac{1}{\ln 2}$

۲۷۷۹۹ (۷.۲۸۷) $\frac{6}{\ln 7}$

۲۷۸۰۰ (۷.۲۸۹) 32760

۲۷۸۰۱ (۷.۲۹۱) $\frac{3x^{(\sqrt{3}+1)}}{\sqrt{3}+1}+C$

۲۷۸۰۲ (۷.۲۹۳) $3^{\sqrt{2}+1}$

۲۷۸۰۳ (۷.۲۹۵) $\frac{1}{\ln 10}(\frac{(\ln x)^2}{2})+C$

۲۷۸۰۴ (۷.۲۹۷) $2(\ln 2)^2$

۲۷۸۰۵ (۷.۲۹۹) $\frac{3\ln 2}{2}$

۲۷۸۰۶ (۷.۳۰۱) $\ln 10$

۲۷۸۰۷ (۷.۳۰۳) $(\ln 10)\ln|\ln x|+C$

۲۷۸۰۸ (۷.۳۰۵) $\ln(\ln x),\ x>1$

۲۷۸۰۹ (۷.۳۰۷) $-\ln x$

۲۷۸۱۰ (۷.۳۰۹) $2\ln 5$

۲۷۸۱۱ (۷.۳۱۱) $[10^{-7.44},10^{-7.37}]$

۲۷۸۱۲ (۷.۳۱۳) $k=10$

۲۷۸۱۳ (۷.۳۱۵) ا) 10^{-7} ،ب) 7 ،ج) $1:1$

۲۷۸۱۴ (۷.۳۱۷) $x\approx -0.76666$

۲۷۸۱۵ (۷.۳۱۹) ا) $L(x)=1+(\ln 2)x\approx 0.69x+1$

۲۷۸۱۶ (۷.۳۲۱) ا) 1.89279 ، ب) -0.35621 ، ج) 0.94575 ،

۲۷۸۱۷ د) -2.80735 ، ھ) 5.29595 ، و) 0.97041 ، ز)

۲۷۸۱۸ -1.03972 ،ح) -1.61181

۲۷۸۱۹ حصہ ۷.۵ صفحہ ۶۹۸

۲۷۸۲۰ (۷.۳۲۳) ا) $-0.000\,01$ ،(ب) 10.536 سال،(ج) 82 %

۲۷۸۲۱ (۷.۳۲۵) 54.88 g

۲۷۸۲۲ (۷.۳۲۷) 19.93 m

۲۷۸۲۳ (۷.۳۲۹) 2.8147497×10^{14}

۲۷۸۰۳ (۷.۳۳۱) (ا) 8 سال، (ب) 32.02 سال

۲۷۸۰۵ (۷.۳۳۳) 15.28 سال

۲۷۸۰۶ (۷.۳۳۵) (ا) $A_0e^{0.2}$، (ب) 17.33 سال، (ج) 27.74 سال

۲۷۸۰۷ (۷.۳۳۷) 4.50 %

۲۷۸۰۸ (۷.۳۳۹) 0.585 دن

۲۷۸۰۹ (۷.۳۴۳) (ا) 17.5 منٹ، (ب) 13.26 منٹ

۲۷۸۱۰ (۷.۳۴۵) $-3\,^\circ\mathrm{C}$

۲۷۸۱۱ (۷.۳۴۷) تقریباً 6658 سال

۲۷۸۱۲ (۷.۳۴۹) 41 سال پرانا

۲۷۸۱۳ حصہ ۷.۶ صفحہ ۷۰۸

۲۷۸۱۴ (۷.۳۵۰) $\frac{1}{4}$

۲۷۸۱۵ (۷.۳۵۲) $-\frac{23}{7}$

۲۷۸۱۶ (۷.۳۵۴) $\frac{5}{7}$

۲۷۸۱۷ (۷.۳۵۶) 0

۲۷۸۱۸ (۷.۳۵۸) -16

۲۷۸۱۹ (۷.۳۶۰) -2

۲۷۸۲۰ (۷.۳۶۲) $\frac{1}{4}$

۲۷۸۲۱ (۷.۳۶۴) 2

۲۷۸۲۲ (۷.۳۶۶) 3

۲۷۸۲۳ (۷.۳۶۸) -1

۲۷۸۲۴ (۷.۳۷۰) $\ln 3$

۲۷۸۲۵ (۷.۳۷۲) $\frac{1}{\ln 2}$

۲۷۸۲۶ (۷.۳۷۴) $\ln 2$

۲۷۸۲۷ (۷.۳۷۶) 1

۲۷۸۲۸ (۷.۳۷۸) $\frac{1}{2}$

۲۷۸۲۹ (۷.۳۸۰) $\ln 2$

۲۷۸۳۰ (۷.۳۸۲) 0

۲۷۸۳۱ (۷.۳۸۴) $-\frac{1}{2}$

۲۷۸۳۲ (۷.۳۸۶) $\ln 2$

۲۷۸۳۳ (۷.۳۸۸) -1

۲۷۸۳۴ (۷.۳۹۰) 1

۲۷۸۳۵ (۷.۳۹۲) $\frac{1}{e}$

۲۷۸۳۶ (۷.۳۹۴) 1

۲۷۸۳۷ (۷.۳۹۶) $\frac{1}{e}$

۲۷۸۳۸ (۷.۳۹۸) $e^{1/2}$

۲۷۸۳۹ (۷.۴۰۰) 1

۲۷۸۴۰ (۷.۴۰۲) 3

۲۷۸۴۱ (۷.۴۰۴) 1

۲۷۸۴۲ (۷.۴۰۶) (ب) درست

۲۷۸۴۳ (۷.۴۰۸) (د) درست

۲۷۸۴۴ (۷.۴۱۰) $c = \frac{25}{10}$

۲۷۸۴۵ حصہ ۷.۷ صفحہ ۷۲۱

۲۷۸۴۶ (۷.۴۲۴) (ا) آہستہ (ب) آہستہ (ج) آہستہ (د) تیز (ہ) آہستہ (و) آہستہ

۲۷۸۴۷ (ز) ایک سا (ح) آہستہ

۲۷۸۴۸ (۷.۴۲۶) (ا) ایک سا (ب) تیز (ج) ایک سا (د) ایک سا (ہ) آہستہ

۲۷۸۴۹ (و) تیز (ز) آہستہ (ح) ایک سا

۲۷۸۵۰ (۷.۴۲۸) (ا) ایک سا (ب) ایک سا (ج) ایک سا (د) تیز

۲۷۸۵۱ (ہ) تیز (و) ایک سا (ز) آہستہ (ح) تیز

۲۷۸۵۲ (۷.۴۳۰) د، ا، ج، ب

۲۷۸۵۳ (۷.۴۳۲) (ا) غلط (ب) غلط (ج) درست (د) درست

۲۷۸۵۴ (ہ) درست (و) درست (ز) غلط (ح) درست

۲۷۸۵۵ (۷.۴۳۶) جب f کا درجہ g کے درجہ سے کم یا اس کے برابر ہو۔

۲۷۸۵۶ (۷.۴۳۸) زیادہ درجے کی کثیر رکنی، کم درجے کی کثیر رکنی سے زیادہ تیز بڑھتی

۲۷۸۵۷ ہے۔ ایک سے درجہ کی کثیر رکنی کی شرح نمو برابر ہوتی ہے۔

۲۷۸۵۸ (۷.۴۴۴) (ب) $\ln(e^{17\,000\,000}) = 17\,000\,000 <$

۲۷۸۵۹ $(e^{17\times 10^6})^{1/10^6} = e^{17} \approx 24\,154\,952.75$

۲۷۸۶۰ (ج) $x \approx 3.4306311 \times 10^{15}$، (د) نقطہ تقاطع

۲۷۸۶۱ $x \approx 3.4306311 \times 10^{15}$ ہے۔

۲۷۸۶۲ (۷.۴۴۶) (ا) جو $O(n \log_2 n)$ قدم چلتا ہے۔

۲۷۸۶۳ (۷.۴۴۸) ترتیبی تلاش کو دس لاکھ قدم چلنا پڑھ سکتا ہے جبکہ ثنائی تلاش میں زیادہ

۲۷۸۶۴ سے زیادہ 20 قدم چلنا ہوگا۔

۲۷۸۶۵ حصہ ۷.۸ صفحہ ۷۳۵

۲۷۸۶۶ (۷.۴۵۰) (ا) $\frac{\pi}{4}$، (ب) $-\frac{\pi}{3}$، (ج) $\frac{\pi}{6}$

۲۷۸۶۷ (۷.۴۵۲) (ا) $-\frac{\pi}{6}$، (ب) $\frac{\pi}{4}$، (ج) $-\frac{\pi}{3}$

۲۷۸۶۸ (۷.۴۵۴) (ا) $\frac{\pi}{3}$، (ب) $\frac{3\pi}{4}$، (ج) $\frac{\pi}{6}$

۲۷۸۶۹ (۷.۴۵۶) (ا) $\frac{3\pi}{4}$، (ب) $\frac{\pi}{6}$، (ج) $\frac{2\pi}{3}$

۲۷۸۷۰ (۷.۴۵۸) (ا) $\frac{\pi}{4}$، (ب) $-\frac{\pi}{3}$، (ج) $\frac{\pi}{6}$

۲۷۸۷۱ (۷.۴۶۰) (ا) $\frac{3\pi}{4}$، (ب) $\frac{\pi}{6}$، (ج) $\frac{2\pi}{3}$

۲۷۸۷۲ (۷.۴۶۲) $\cos\alpha = \frac{12}{13}$, $\tan\alpha = \frac{5}{12}$,

۲۷۸۷۳ $\sec\alpha = \frac{13}{12}$, $\csc\alpha = \frac{13}{5}$, $\cot\alpha = \frac{12}{5}$

۲۷۸۷۴ (۷.۴۶۴) $\sin\alpha = \frac{2}{\sqrt{5}}$, $\cos\alpha = -\frac{1}{\sqrt{5}}$,

۲۷۸۷۵ $\tan\alpha = -2$, $\csc\alpha = \frac{\sqrt{5}}{2}$, $\cot\alpha = -\frac{1}{2}$

۲۷۸۷۶ (۷.۴۶۶) $\frac{1}{\sqrt{2}}$

۲۷۸۷۷ (۷.۴۶۸) $-\frac{1}{\sqrt{3}}$

۲۷۸۷۸ (۷.۴۷۰) $\frac{4+\sqrt{3}}{2\sqrt{3}}$

۲۷۸۷۹ (۷.۴۷۲) 1

۲۷۸۸۰ (۷.۴۷۴) $-\sqrt{2}$

۲۷۸۸۱ (۷.۴۷۶) $\frac{\pi}{6}$

۲۷۸۸۲ (۷.۴۷۷) (جواب $-\frac{\pi}{4}$ نہیں ہے۔)

۲۷۸۸۳ (۷.۴۷۸) $\frac{\sqrt{x^2+4}}{2}$

۲۷۸۸۴ (۷.۴۸۰) $\sqrt{9y^2-1}$

۲۷۸۸۵ (۷.۴۸۲) $\sqrt{1-x^2}$

۲۷۸۸۶ (۷.۴۸۴) $\frac{\sqrt{x^2-2x}}{x-1}$

۲۷۸۸۷ (۷.۴۸۶) $\frac{\sqrt{9-4y^2}}{3}$

۲۷۸۸۸ (۷.۴۸۸) $\frac{\sqrt{x^2-16}}{x}$

۲۷۸۸۹ (۷.۴۹۰) $\frac{\pi}{2}$

۲۷۸۹۰ (۷.۴۹۲) $\frac{\pi}{2}$

۲۷۸۹۱ (۷.۴۹۴) $\frac{\pi}{2}$

۲۷۸۹۲ (۷.۴۹۶) 0

۲۷۸۹۳ (۷.۵۰۰) $\theta = \cos^{-1}(\frac{1}{\sqrt{3}}) \approx 54.7^\circ$

۲۷۸۹۴ (۷.۵۰۶) (ا) معین؛ ایسا زاویہ پایا جاتا ہے جس کا ٹینجنٹ 2 کے برابر ہے۔

۲۷۸۹۵ (ب) غیر معین؛ ایسا کوئی زاویہ نہیں پایا جاتا ہے جس کا کوسائن 2 کے

۲۷۸۹۶ برابر ہو۔

۲۷۸۹۷ (۷.۵۰۸) (ا) غیر معین؛ کسی زاویے کا سیکنٹ 0 نہیں ہے۔ (ب) غیر معین؛ کسی

۲۷۸۹۸ زاویے کا سائن $\sqrt{2}$ نہیں ہے۔

۲۷۸۹۹ (۷.۵۱۰) (ا) 0.84107، (ب) -0.72973، (ج) 0.46365

۲۷۹۰۰ (۷.۵۱۲) (ا) دائرہ کار: تمام حقیقی اعداد ماسوائے وہ جن کی روپ $\frac{\pi}{2} + k\pi$ ہو

۲۷۹۰۱ جہاں k عدد صحیح ہے؛ سعت: $-\frac{\pi}{2} < y < \frac{\pi}{2}$

۲۷۹۰۲ (ب) دائرہ کار: $-\infty < x < \infty$ ؛

۲۷۹۰۳ سعت $-\infty \leq y \leq \infty$

۲۷۹۰۴ (۷.۵۱۴) (ا) دائرہ کار: $-\infty < x < \infty$ ؛ سعت $0 \leq y \leq \pi$

۲۷۹۰۵ (ب) دائرہ کار: $-1 \leq x \leq 1$ ؛

۲۷۹۰۶ سعت $-1 \leq y \leq 1$

۲۷۹۰۷ (۷.۵۱۶) ترسیمات بالکل ایک سی ہیں۔

۲۷۹۰۸ حصہ ۷.۹ صفحہ ۷۴۷

۲۷۹۰۹ (۷.۵۱۸) $\frac{-2x}{\sqrt{1-x^4}}$

۲۷۹۱۰ (۷.۵۲۰) $\frac{\sqrt{2}}{\sqrt{1-2t^2}}$

۲۷۹۱۱ (۷.۵۲۲) $\frac{1}{|2s+1|\sqrt{s^2+s}}$

۲۷۹۱۲ (۷.۵۲۴) $\frac{-2x}{(x^2+1)\sqrt{x^4+2x^2}}$

۲۷۹۱۳ (۷.۵۲۶) $\frac{-1}{\sqrt{1-t^2}}$

۲۷۹۱۴ (۷.۵۲۸) $\frac{-1}{2\sqrt{t}(1+t)}$

۲۷۹۱۵ (۷.۵۳۰) $\frac{1}{\tan^{-1}(x(1+x^2))}$

۲۷۹۱۶ (۷.۵۳۲) $\frac{-e^t}{|e^t|\sqrt{(e^t)^2-1}} = \frac{-1}{\sqrt{e^{2t}-1}}$

۲۷۹۱۷ (۷.۵۳۴) $\frac{-2s^2}{\sqrt{1-s^2}}$

۲۷۹۱۸ (۷.۵۳۶) 0

۲۷۹۱۹ (۷.۵۳۸) $\sin^{-1} x$

۲۷۹۲۰ (۷.۵۴۰) $\sin^{-1} \frac{x}{7} + C$

۲۷۹۲۱ (۷.۵۴۲) $\frac{1}{\sqrt{17}} \tan^{-1} \frac{x}{\sqrt{17}} + C$

۲۷۹۲۲ (۷.۵۴۴) $\frac{1}{\sqrt{2}} \sec^{-1}\left|\frac{5x}{\sqrt{2}}\right| + C$

۲۷۹۲۳ (۷.۵۴۶) $\frac{2\pi}{3}$

۲۷۹۲۴ (۷.۵۴۸) $\frac{\pi}{16}$

۲۷۹۲۵ (۷.۵۵۰) $-\frac{\pi}{12}$

۲۷۹۲۶ (۷.۵۵۲) $\frac{3}{2} \sin^{-1} 2(r-1) + C$

۲۷۹۲۷ (۷.۵۵۴) $\frac{\sqrt{2}}{2} \tan^{-1}(\frac{x-1}{\sqrt{2}}) + C$

۲۷۹۲۸ (۷.۵۵۶) $\frac{1}{4} \sec^{-1}\left|\frac{2x-1}{2}\right| + C$

۲۷۹۲۹ (۷.۵۵۸) π

۲۷۹۳۰ (۷.۵۶۰) $\frac{\pi}{12}$

۲۷۹۳۱ (۷.۵۶۲) $\frac{1}{2} \sin^{-1} y^2 + C$

۲۷۹۳۲ (۷.۵۶۴) $\sin^{-1}(x-2) + C$

۲۷۹۳۳ (۷.۵۶۶) π

۲۷۹۳۴ (۷.۵۶۸) $\frac{1}{2} \tan^{-1}(\frac{y-1}{2}) + C$

۲۷۹۳۵ (۷.۵۷۰) 2π

۲۷۹۳۶ (۷.۵۷۲) $\sec^{-1}|x+1| + C$

۲۷۹۳۷ (۷.۵۷۴) $e^{\sin^{-1} x} + C$

۲۷۹۳۸ (۷.۵۷۶) $\frac{1}{3}(\sin^{-1} x)^3 + C$

۲۷۹۳۹ (۷.۵۷۸) $\ln\left|\tan^{-1} y\right| + C$

۲۷۹۴۰ (۷.۵۸۰) $\sqrt{3} - 1$

۲۷۹۴۱ (۷.۵۸۲) 5

۲۷۹۴۲ (۷.۵۸۴) 2

۲۷۹۴۳ (۷.۵۹۰) $y = \sin^{-1}(x)$

۲۷۹۴۴ (۷.۵۹۲) $y = \sec^{-1}(x) + \frac{2\pi}{3}, \quad x > 1$

۲۷۹۴۵ $3\sqrt{5}\,\mathrm{m}$

۲۷۹۴۶ (۷.۵۹۶) جی ہاں، $\sin^{-1}(x)$ اور $\cos^{-1}(x)$ میں فرق مستقل $\frac{\pi}{2}$

۲۷۹۴۷ ہے۔

۲۷۹۴۸ (۷.۶۰۶) $\frac{\pi^2}{2}$

۲۷۹۴۹ (۷.۶۰۸) (ا) $\frac{\pi^2}{2}$ (ب) 2π

۲۷۹۵۰ حصہ ۷.۱۰ صفحہ ۷۶۲

۲۷۹۵۱ (۷.۶۱۴) $\cosh x = \frac{5}{4}$, $\tanh x = -\frac{3}{5}$,

۲۷۹۵۲ $\coth x = -\frac{5}{3}$, $\operatorname{sech} x = \frac{4}{5}$,

۲۷۹۵۳ $\operatorname{csch} x = -\frac{4}{3}$

۲۷۹۵۴ (۷.۶۱۶) $\sinh x = \frac{8}{15}$, $\tanh x = \frac{8}{17}$,

۲۷۹۵۵ $\coth x = \frac{17}{8}$, $\operatorname{sech} x = \frac{15}{17}$,

۲۷۹۵۶ $\operatorname{csch} x = \frac{15}{8}$

۲۷۹۵۷ (۷.۶۱۸) $x + \frac{1}{x}$

۲۷۹۵۸ (۷.۶۲۰) e^{5x}

۲۷۹۵۹ (۷.۶۲۲) e^{4x}

۲۷۹۶۰ (۷.۶۲۶) $2\cosh\frac{x}{3}$

۲۷۹۶۱ (۷.۶۲۸) $\operatorname{sech}^2\sqrt{t}+\frac{\tanh\sqrt{t}}{\sqrt{t}}$

۲۷۹۶۲ (۷.۶۳۰) $\coth z$

۲۷۹۶۳ (۷.۶۳۲) $(\ln\operatorname{sech}\theta)(\operatorname{sech}\theta\tanh\theta)$

۲۷۹۶۴ (۷.۶۳۴) $\tanh^3 v$

۲۷۹۶۵ (۷.۶۳۶) 2

۲۷۹۶۶ (۷.۶۳۸) $\frac{1}{2\sqrt{x(1+x)}}$

۲۷۹۶۷ (۷.۶۴۰) $\frac{1}{1+\theta}-\tanh^{-1}\theta$

۲۷۹۶۸ (۷.۶۴۲) $\frac{1}{2\sqrt{t}}-\coth^{-1}\sqrt{t}$

۲۷۹۶۹ (۷.۶۴۴) $-\operatorname{sech}^{-1}x$

۲۷۹۷۰ (۷.۶۴۶) $\frac{\ln 2}{\sqrt{1+(1/2)^{2\theta}}}$

۲۷۹۷۱ (۷.۶۴۸) $|\sec x|$

۲۷۹۷۲ (۷.۶۵۴) $\frac{\cosh 2x}{2}+C$

۲۷۹۷۳ (۷.۶۵۶) $12\sinh(\frac{x}{2}-\ln 3)+C$

۲۷۹۷۴ (۷.۶۵۸) $7\ln\left|e^{x/7}+e^{-x/7}\right|+C$

۲۷۹۷۵ (۷.۶۶۰) $\tanh(x-\frac{1}{2})+C$

۲۷۹۷۶ (۷.۶۶۲) $-2\operatorname{sech}\sqrt{t}+C$

۲۷۹۷۷ (۷.۶۶۴) $\ln\frac{5}{2}$

۲۷۹۷۸ (۷.۶۶۶) $\frac{3}{32}+\ln 2$

۲۷۹۷۹ (۷.۶۶۸) $e-e^{-1}$

۲۷۹۸۰ (۷.۶۷۰) $\frac{3}{4}$

۲۷۹۸۱ (۷.۶۷۲) $\frac{3}{8}+\ln\sqrt{2}$

۲۷۹۸۲ (۷.۶۷۴) $\ln\frac{2}{3}$

۲۷۹۸۳ (۷.۶۷۶) $-\frac{\ln 3}{2}$

۲۷۹۸۴ (۷.۶۷۸) $\ln 3$

۲۷۹۸۵ (۷.۶۸۰) (ا) $\sinh^{-1}(\sqrt{3})$ (ب) $\ln(\sqrt{3}+2)$

۲۷۹۸۶ (۷.۶۸۲) (ا) $\coth^{-1}(\frac{5}{4})$ – (ب) $\coth^{-1}(2)$

۲۷۹۸۷ $\frac{1}{2}\ln(\frac{1}{3})$

۲۷۹۸۸ (۷.۶۸۴) (ا) $\operatorname{sech}^{-1}(\frac{4}{5})-\operatorname{sech}^{-1}(\frac{12}{13})$

۲۷۹۸۹ (ب) $\ln(\frac{1+\sqrt{1-(4/5)^2}}{4/5})+\ln(\frac{1+\sqrt{1-(12/13)^2}}{12/13})$

۲۷۹۹۰ $\ln(\frac{4}{3})-\ln(\frac{3}{2})+\ln(2)$

۲۷۹۹۱ (۷.۶۸۶) (ا) 0 (ب) 0

۲۷۹۹۲ (۷.۶۸۸) (ب) $f(x)=\frac{2f(x)}{2}+0$ ، $f'(x)$

۲۷۹۹۳ $0+\frac{2f(x)}{2}=f(x)$

۲۷۹۹۴ (۷.۶۹۰) (ب) $v=\sqrt{\frac{gm}{k}}$ ، (ج) $v=54.6\,\mathrm{m\,s^{-1}}$

۲۷۹۹۵ (۷.۶۹۲) $y=\operatorname{sech}^{-1}(x)-\sqrt{1-x^2}$

۲۷۹۹۶ (۷.۶۹۴) 2π

۲۷۹۹۷ (۷.۶۹۶) (ا) $\frac{6}{5}$ (ب) $\frac{\sinh ab}{a}$

۲۷۹۹۸ (۷.۶۹۸) (ا) $\bar{x}=0,\ \bar{y}=\frac{5}{8}+\frac{\ln 4}{3}\approx 1.09$

۲۷۹۹۹ (ب)

۲۸۰۰۰

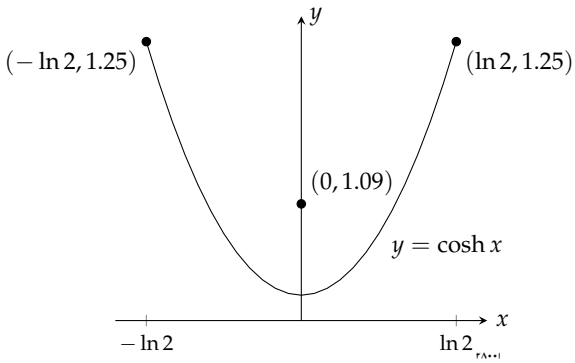

۲۸۰۰۱

۲۸۰۰۲ (۷.۷۰۲) (ج) $a\approx 0.1785413$ (د) $32.93\,\mathrm{N}$

۲۸۰۰۳ حصہ ۷.۱۱ صفحہ ۷۸۱

۲۸۰۰۴ (۷.۷۱۱) $y=\tan(x^2+C)$

۲۸۰۰۵ (۷.۷۱۳) $\frac{2}{3}y^{3/2}-x^{1/2}=C$

۲۸۰۰۶ (۷.۷۱۵) $e^y-e^x=C$

۲۸۰۰۷ (۷.۷۱۷) $y=\frac{e^x+C}{x}$

۲۸۰۰۸ (۷.۷۱۹) $y=\frac{C-\cos x}{x^3},\ x>0$

۲۸۰۰۹ (۷.۷۲۱) $y=\frac{1}{2}-\frac{1}{x}+\frac{C}{x^2},\ x>0$

۲۸۰۱۰ (۷.۷۲۳) $y=\frac{1}{2}xe^{x/2}+Ce^{x/2}$

۲۸۰۱۱ (۷.۷۲۵) $y=x^2e^{-2x}+Ce^{-2x}$

۲۸۰۱۲ (۷.۷۲۷) $-e^{-y}-e^{\sin x}=C$

۲۸۰۱۳ (۷.۷۲۹) $s=\frac{t^3}{3(t-1)^4}-\frac{t}{(t-1)^4}+\frac{C}{(t-1)^4}$

۲۸۰۱۴ (۷.۷۳۱) $2\tan\sqrt{x}=t+C$

۲۸۰۱۵ (۷.۷۳۳) $r=\csc\theta(\ln|\sec\theta|+C)$

۲۸۰۱۶ (۷.۷۳۵) $y=-e^{-x}\operatorname{sech}x+C\operatorname{sech}x$

۲۸۰۱۷ (۷.۷۳۷) $y=\frac{3}{2}-\frac{1}{2}e^{-2t}$

۲۸۰۱۸ (۷.۷۳۹) $y=-\frac{1}{\theta}\cos\theta+\frac{\pi}{2\theta}$

۲۸۰۱۹ (۷.۷۴۱) $y=6e^{x^2}-\frac{e^{x^2}}{x+1}$

۲۸۰۲۰ (۷.۷۴۳) $y=y_0e^{kt}$

۲۸۰۲۱ (۷.۷۴۵) (الف) غلط (ب) درست

۲۸۰۲۲ (۷.۷۴۷) (ا) $c=\frac{G}{100Vk}+(c_0-\frac{G}{100Vk})e^{-kt}$ ، (ب)

۲۸۰۲۳ $\frac{G}{100Vk}$

۲۸۰۲۴ (۷.۷۴۹) 40 منٹ

۲۸۰۲۵ (۷.۷۵۱) (ا) $168\,\mathrm{m}$ ، (ب) تقریباً 70 سیکنڈ

۲۸۰۲۶ (۷.۷۵۳) $t=\frac{L}{R}\ln 2$ سیکنڈ بعد

۲۸۰۲۷ (۷.۷۵۵) (ا) $0.95\frac{V}{R}$ ، $i=\frac{V}{R}-\frac{V}{R}e^{-3}\approx$ (ب) 86 %

۲۸۰۲۸ (۷.۷۵۷ (ا) $2\,\mathrm{kg\,min^{-1}}$، (ب) $100+t$ لٹر،

۲۸۰۲۹ (ج) $\frac{4y}{100+t}\,\mathrm{kg\,min^{-1}}$،

۲۸۰۳۰ (د) $\frac{\mathrm{d}y}{\mathrm{d}t} = 2 - \frac{4y}{100+t}$، $y(0) = 25$،

۲۸۰۳۱ $y(t) = \frac{2}{5}(100+t) - \frac{15}{(1+t/100)^4}$،

۲۸۰۳۲ (ہ) $0.35\,\mathrm{kg\,L^{-1}}$

۲۸۰۳۳ حصہ ۷.۱۲ صفحہ ۷۹۳

۲۸۰۳۴ (۷.۷۶۱ $y' = \frac{x}{2} - \frac{4}{x}$, $y_1 = -0.25$,

۲۸۰۳۵ $y_2 = 0.3$, $y_3 = 0.75$

۲۸۰۳۶ (۷.۷۶۳ $y' = 3e^{x(x+2)}$, $y_1 = 4.2$,

۲۸۰۳۷ $y_2 = 6.216$, $y_3 = 9.697$

۲۸۰۳۸ (۷.۷۶۵ $y' = e^{x^2} + 1$, $y_1 = 2.0$,

۲۸۰۳۹ $y_2 = 2.0202$, $y_3 = 2.0618$

۲۸۰۴۰ (۷.۷۶۷ $y \approx 2.488\,32$، ٹھیک جواب e ہے۔

۲۸۰۴۱ (۷.۷۶۹ $y \approx -0.2272$،

۲۸۰۴۲ ٹھیک جواب $\frac{1}{1-2\sqrt{5}} \approx -0.2880$ ہے۔

۲۸۰۴۳ (۷.۷۷۱ ب

۲۸۰۴۴ (۷.۷۷۳ الف

۲۸۰۴۵ حصہ ۸.۱ صفحہ ۸۰۳

۲۸۰۴۶ (۸.۱ $2\sqrt{8x^2+1} + C$

۲۸۰۴۷ (۸.۳ $2(\sin v)^{3/2} + C$

۲۸۰۴۸ (۸.۵ $\ln 5$

۲۸۰۴۹ (۸.۷ $2\ln(\sqrt{x}+1) + C$

۲۸۰۵۰ (۸.۹ $-\frac{1}{7}\ln\left|\sin(3-7x)\right| + C$

۲۸۰۵۱ (۸.۱۱ $-\ln\left|\csc(e^\theta+1) + \cot(e^\theta+1)\right| + C$

۲۸۰۵۲ (۸.۱۳ $3\ln\left|\sec\frac{t}{3} + \tan\frac{t}{3}\right| + C$

۲۸۰۵۳ (۸.۱۵ $-\ln\left|\csc(s-\pi) + \cot(s-\pi)\right| + C$

۲۸۰۵۴ (۸.۱۷ 1

۲۸۰۵۵ (۸.۱۹ $e^{\tan v} + C$

۲۸۰۵۶ (۸.۲۱ $\frac{e^{x+1}}{\ln 3} + C$

۲۸۰۵۷ (۸.۲۳ $\frac{2^{\sqrt{w}}}{\ln 2} + C$

۲۸۰۵۸ (۸.۲۵ $3\tan^{-1} 3u + C$

۲۸۰۵۹ (۸.۲۷ $\frac{\pi}{18}$

۲۸۰۶۰ (۸.۲۹ $\sin^{-1} s^2 + C$

۲۸۰۶۱ (۸.۳۱ $6\sec^{-1}|5x| + C$

۲۸۰۶۲ (۸.۳۳ $\tan^{-1} e^x + C$

۲۸۰۶۳ (۸.۳۵ $\ln(2+\sqrt{3})$

۲۸۰۶۴ (۸.۳۷ 2π

۲۸۰۶۵ (۸.۳۹ $\sin^{-1}(t-2) + C$

۲۸۰۶۶ (۸.۴۱ جب $|x+1| > 1$ تب $\sec^{-1}|x+1| + C$

۲۸۰۶۷ (۸.۴۳ $\tan x - 2\ln|\csc x + \cot x| - \cot x -$

۲۸۰۶۸ $x + C$

۲۸۰۶۹ (۸.۴۵ $x + \sin 2x + C$

۲۸۰۷۰ (۸.۴۷ $x - \ln|x+1| + C$

۲۸۰۷۱ (۸.۴۹ $7 + \ln 8$

۲۸۰۷۲ (۸.۵۱ $2t^2 - t + 2\tan^{-1}(\frac{t}{2}) + C$

۲۸۰۷۳ (۸.۵۳ $\sin^{-1} x + \sqrt{1-x^2} + C$

۲۸۰۷۴ (۸.۵۵ $\sqrt{2}$

۲۸۰۷۵ (۸.۵۷ $\tan x - \sec x + C$

۲۸۰۷۶ (۸.۵۹ $\ln|1+\sin\theta| + C$

۲۸۰۷۷ (۸.۶۱ $\cot x + x + \csc x + C$

۲۸۰۷۸ (۸.۶۳ 4

۲۸۰۷۹ (۸.۶۵ $\sqrt{2}$

۲۸۰۸۰ (۸.۶۷ 2

۲۸۰۸۱ (۸.۶۹ $\ln\left|\sqrt{2}+1\right| - \ln\left|\sqrt{2}-1\right|$

۲۸۰۸۲ (۸.۷۱ $4 - \frac{\pi}{2}$

۲۸۰۸۳ (۸.۷۳ $-\ln\left|\csc(\sin\theta) + \cot(\sin\theta)\right| + C$

۲۸۰۸۴ (۸.۷۵ $\ln|\sin x| + \ln|\cos x| + C$

۲۸۰۸۵ (۸.۷۷ $12\tan^{-1}(\sqrt{y}) + C$

۲۸۰۸۶ (۸.۷۹ $\sec^{-1}\left|\frac{x-1}{7}\right| + C$

۲۸۰۸۷ (۸.۸۱ $\ln\left|\sec(\tan t)\right| + C$

۲۸۰۸۸ (۸.۸۳ (ا) $\sin\theta - \frac{1}{3}\sin^3\theta + C$ (ب) $\sin\theta$

۲۸۰۸۹ $\frac{2}{3}\sin^3\theta + \frac{1}{5}\sin^5\theta + C$

۲۸۰۹۰ (ج) $\int\cos^9\theta\,\mathrm{d}\theta = \int\cos^8\theta(\cos\theta)\,\mathrm{d}\theta =$

۲۸۰۹۱ $\int(1-\sin^2\theta)^4(\cos\theta)\,\mathrm{d}\theta$

۲۸۰۹۲ (۸.۸۵ ا. $\int\tan^3\theta\,\mathrm{d}\theta = \frac{1}{2}\tan^2\theta -$

۲۸۰۹۳ $\int\tan\theta\,\mathrm{d}\theta = \frac{1}{2}\tan^2\theta +$

۲۸۰۹۴ $\ln|\cos\theta| + C$

۲۸۰۹۵ ب. $\int\tan^5\theta\,\mathrm{d}\theta = \frac{1}{4}\tan^4\theta\,\mathrm{d}\theta -$

۲۸۰۹۶ $\int\tan^3\theta\,\mathrm{d}\theta$

۲۸۰۹۷ ج. $\int\tan^7\theta\,\mathrm{d}\theta = \frac{1}{6}\tan^6\theta -$

۲۸۰۹۸ $\int\tan^5\theta\,\mathrm{d}\theta$

۲۸۰۹۹ د. $\int\tan^{2k+1}\theta\,\mathrm{d}\theta = \frac{1}{2k}\tan^{2k}\theta -$

۲۸۱۰۰ $\int\tan^{2k-1}\theta\,\mathrm{d}\theta$

۲۸۱۰۱ (۸.۸۷ $2\sqrt{2} - \ln(3+2\sqrt{2})$

۲۸۱۰۲ (۸.۸۹ π^2

۲۸۱۰۳ (۸.۹۱ $\ln(2+\sqrt{3})$

۲۸۱۰۴ (۸.۹۳ $\bar{x} = 0$, $\bar{y} = \frac{1}{\ln(2\sqrt{2}+3)}$

۲۸۱۰۵ حصہ ۸.۲ صفحہ ۸۱۷

۲۸۱۰۶ (۸.۹۷) $-2x\cos(\frac{x}{2}) + 4\sin(\frac{x}{2}) + C$

۲۸۱۰۷ (۸.۹۹) $t^2\sin t + 2t\cos t - 2\sin t + C$

۲۸۱۰۸ (۸.۱۰۱) $\ln 4 - \frac{3}{4}$

۲۸۱۰۹ (۸.۱۰۳) $y\tan^{-1}(y) - \ln\sqrt{1+y^2} + C$

۲۸۱۱۰ (۸.۱۰۵) $x\tan x + \ln|\cos x| + C$

۲۸۱۱۱ (۸.۱۰۷) $(x^3 - 3x^2 + 6x - 6)e^x + C$

۲۸۱۱۲ (۸.۱۰۹) $(x^2 - 7x + 7)e^x + C$

۲۸۱۱۳ (۸.۱۱۱) $(x^5 - 5x^4 + 20x^3 - 60x^2 + 120x -$

۲۸۱۱۴ $120)e^x + C$

۲۸۱۱۵ (۸.۱۱۳) $\frac{\pi^2-4}{8}$

۲۸۱۱۶ (۸.۱۱۵) $\frac{5\pi-3\sqrt{3}}{9}$

۲۸۱۱۷ (۸.۱۱۷) $\frac{1}{2}(-e^\theta\cos\theta + e^\theta\sin\theta) + C$

۲۸۱۱۸ (۸.۱۱۹) $\frac{e^{2x}}{13}(3\sin 3x + 2\cos 3x) + C$

۲۸۱۱۹ (۸.۱۲۱) $\frac{2}{3}(\sqrt{3s+9}\,e^{\sqrt{3s+9}} - e^{\sqrt{3s+9}}) + C$

۲۸۱۲۰ (۸.۱۲۳) $\frac{\pi\sqrt{3}}{3} - \ln(2) - \frac{\pi^2}{18}$

۲۸۱۲۱ (۸.۱۲۵) $\frac{1}{2}[-x\cos(\ln x) + x\sin(\ln x)] + C$

۲۸۱۲۲ (۸.۱۲۷) (ا) π، (ب) 3π، (ج) 5π، (د) $(2n+1)\pi$

۲۸۱۲۳ (۸.۱۲۹) $2\pi(1 - \ln 2)$

۲۸۱۲۴ (۸.۱۳۱) (ا) $\pi(\pi - 2)$، (ب) 2π

۲۸۱۲۵ (۸.۱۳۳) $\bar{x} = \frac{6-2e}{e-2} \approx 0.78,\ \bar{y} = \frac{e^2-3}{8(e-2)} \approx 0.76$

۲۸۱۲۶ (۸.۱۳۵) $\pi^2 + \pi - 4$

۲۸۱۲۷ (۸.۱۳۷) (ا) $\frac{1}{2\pi}(1 - e^{-2\pi})$

۲۸۱۲۸ (۸.۱۳۹) $x\sin^{-1}x + \cos(\sin^{-1}x) + C$

۲۸۱۲۹ (۸.۱۴۱) $x\sec^{-1}x - \ln\left|x + \sqrt{x^2-1}\right| + C$

۲۸۱۳۰ (۸.۱۴۳) جی ہاں

۲۸۱۳۱ (۸.۱۴۵) (ا) $x\sinh^{-1}x - \cosh(\sinh^{-1}x) + C$،

۲۸۱۳۲ (ب) $x\sinh^{-1}x + (1+x^2)^{1/2} + C$

۲۸۱۳۳ حصہ ۸.۳ صفحہ ۸۳۰

۲۸۱۳۴ (۸.۱۴۷) $\frac{2}{x-3} + \frac{3}{x-2}$

۲۸۱۳۵ (۸.۱۴۹) $\frac{1}{x+1} + \frac{3}{(x+1)^2}$

۲۸۱۳۶ (۸.۱۵۱) $-\frac{2}{z} - \frac{1}{z^2} + \frac{2}{z-1}$

۲۸۱۳۷ (۸.۱۵۳) $1 + \frac{17}{t-3} - \frac{12}{t-2}$

۲۸۱۳۸ (۸.۱۵۵) $\frac{1}{2}[\ln|1+x| - \ln|1-x|] + C$

۲۸۱۳۹ (۸.۱۵۷) $\frac{1}{7}\ln\left|(x+6)^2(x-1)^5\right| + C$

۲۸۱۴۰ (۸.۱۵۹) $\frac{\ln 15}{2}$

۲۸۱۴۱ (۸.۱۶۱) $-\frac{1}{2}\ln|t| + \frac{1}{6}\ln|t+2| + \frac{1}{3}\ln|t-1| + C$

۲۸۱۴۲ (۸.۱۶۳) $3\ln 2 - 2$

۲۸۱۴۳ (۸.۱۶۵) $\frac{1}{4}\ln\left|\frac{x+1}{x-1}\right| - \frac{x}{2(x^2-1)} + C$

۲۸۱۴۴ (۸.۱۶۷) $\frac{\pi+2\ln 2}{8}$

۲۸۱۴۵ (۸.۱۶۹) $\tan^{-1}y - \frac{1}{y^2+1} + C$

۲۸۱۴۶ (۸.۱۷۱) $-(s-1)^{-2} + (s-1)^{-1} + \tan^{-1}s + C$

۲۸۱۴۷ (۸.۱۷۳) $\frac{-1}{\theta^2+2\theta+2} + \ln\left|\theta^2+2\theta+2\right| - \tan^{-1}(\theta+1) + C$

۲۸۱۴۸

۲۸۱۴۹ (۸.۱۷۵) $x^2 + \ln\left|\frac{x-1}{x}\right| + C$

۲۸۱۵۰ (۸.۱۷۷) $9x + 2\ln|x| + \frac{1}{x} + 7\ln|x-1| + C$

۲۸۱۵۱ (۸.۱۷۹) $\frac{y^2}{2} - \ln|y| + \frac{1}{2}\ln(1+y^2) + C$

۲۸۱۵۲ (۸.۱۸۱) $\ln\left|\frac{e^t+1}{e^t+2}\right| + C$

۲۸۱۵۳ (۸.۱۸۳) $\frac{1}{5}\ln\left|\frac{\sin y-2}{\sin y+3}\right| + C$

۲۸۱۵۴ (۸.۱۸۵) $\frac{(\tan^{-1}2x)^2}{4} - 3\ln|x-2| + \frac{6}{x-2} + C$

۲۸۱۵۵ (۸.۱۸۷) $x = \ln|t-2| - \ln|t-1| + \ln 2$

۲۸۱۵۶ (۸.۱۸۹) $x = \frac{6t}{t+2} - 1$

۲۸۱۵۷ (۸.۱۹۱) $3\pi\ln 25$

۲۸۱۵۸ (۸.۱۹۳) 1.10

۲۸۱۵۹ (۸.۱۹۵) (ا) $x = \frac{1000e^{4t}}{499+e^{4t}}$، (ب) 1.55 دن

۲۸۱۶۰ (۸.۱۹۷) (ا) $\pi - \frac{22}{7}$، (ب) 0.04 %، (ج) رقبہ 0.003 سے کم

۲۸۱۶۱ ہے۔

۲۸۱۶۲ حصہ ۸.۴ صفحہ ۸۴۱

۲۸۱۶۳ (۸.۱۹۹) $\ln\left|\sqrt{9+y^2} + y\right| + C$

۲۸۱۶۴ (۸.۲۰۱) $\frac{\pi}{4}$

۲۸۱۶۵ (۸.۲۰۳) $\frac{\pi}{6}$

۲۸۱۶۶ (۸.۲۰۵) $\frac{25}{2}\sin^{-1}\frac{t}{5} + \frac{t\sqrt{25-t^2}}{2} + C$

۲۸۱۶۷ (۸.۲۰۷) $\frac{1}{2}\ln\left|\frac{2x}{7} + \frac{\sqrt{4x^2-49}}{7}\right| + C$

۲۸۱۶۸ (۸.۲۰۹) $7[\frac{\sqrt{y^2-49}}{7} - \sec^{-1}\frac{y}{7}] + C$

۲۸۱۶۹ (۸.۲۱۱) $\frac{\sqrt{x^2-1}}{x} + C$

۲۸۱۷۰ (۸.۲۱۳) $\frac{1}{3}(x^2+4)^{3/2} - 4\sqrt{x^2+4} + C$

۲۸۱۷۱ (۸.۲۱۵) $\frac{-2\sqrt{4-w^2}}{w} + C$

۲۸۱۷۲ (۸.۲۱۷) $4\sqrt{3} - \frac{4\pi}{3}$

۲۸۱۷۳ (۸.۲۱۹) $\frac{-x}{\sqrt{x^2-1}} + C$

۲۸۱۷۴ (۸.۲۲۱) $-\frac{1}{5}\left(\frac{\sqrt{1-x^2}}{x}\right)^5 + C$

۲۸۱۷۵ (۸.۲۲۳) $2\tan^{-1}2x + \frac{4x}{4x^2+1} + C$

۲۸۱۷۶ (۸.۲۲۵) $\frac{1}{3}\left(\frac{v}{\sqrt{1-v^2}}\right)^3 + C$

۲۸۱۷۷ (۸.۲۲۷) $\ln 9 - \ln(1+\sqrt{10})$

۲۸۱۷۸ $\frac{\pi}{6}$ (۸.۲۲۹

۲۸۱۷۹ $\sec^{-1}|x| + C$ (۸.۲۳۱

۲۸۱۸۰ $\sqrt{x^2-1} + C$ (۸.۲۳۳

۲۸۱۸۱ $y = 2[\frac{\sqrt{x^2-4}}{2} - \sec^{-1}\frac{x}{2}]$ (۸.۲۳۵

۲۸۱۸۲ $y = \frac{3}{2}\tan^{-1}\frac{x}{2} - \frac{3\pi}{8}$ (۸.۲۳۷

۲۸۱۸۳ $\frac{3\pi}{4}$ (۸.۲۳۹

۲۸۱۸۴ $\frac{2}{1-\tan\frac{x}{2}} + C$ (۸.۲۴۱

۲۸۱۸۵ 1 (۸.۲۴۳

۲۸۱۸۶ $\frac{\sqrt{3}\pi}{9}$ (۸.۲۴۵

۲۸۱۸۷ $\frac{1}{\sqrt{2}}\ln\left|\frac{\tan(t/2)+1-\sqrt{2}}{\tan(t/2)+1+\sqrt{2}}\right| + C$ (۸.۲۴۷

۲۸۱۸۸ $\ln\left|\frac{1+\tan(\theta/2)}{1-\tan(\theta/2)}\right| + C$ (۸.۲۴۹

۲۸۱۸۹ حصه ۸.۵ صفحه ۸۵۰

۲۸۱۹۰ $\frac{2}{\sqrt{3}}(\tan^{-1}\sqrt{\frac{x-3}{3}}) + C$ (۸.۲۵۱

۲۸۱۹۱ $\sqrt{x-2}(\frac{2(x-2)}{3} + 4) + C$ (۸.۲۵۳

۲۸۱۹۲ $\frac{(2x-3)^{3/2}(x+1)}{5} + C$ (۸.۲۵۵

۲۸۱۹۳ $\frac{-\sqrt{9-4x}}{x} - \frac{2}{3}\ln\left|\frac{\sqrt{9-4x}-3}{\sqrt{9-4x}+3}\right| + C$ (۸.۲۵۷

۲۸۱۹۴ $\frac{(x+2)(2x-6)\sqrt{4x-x^2}}{6} + 4\sin^{-1}(\frac{x-2}{2}) + C$ (۸.۲۵۹

۲۸۱۹۵

۲۸۱۹۶ $-\frac{1}{\sqrt{7}}\ln\left|\frac{\sqrt{7}+\sqrt{7+x^2}}{x}\right| + C$ (۸.۲۶۱

۲۸۱۹۷ $\sqrt{4-x^2} - 2\ln\left|\frac{2+\sqrt{4-x^2}}{x}\right| + C$ (۸.۲۶۳

۲۸۱۹۸ $\frac{p}{2}\sqrt{25-p^2} + \frac{25}{2}\sin^{-1}\frac{p}{5} + C$ (۸.۲۶۵

۲۸۱۹۹ $2\sin^{-1}\frac{r}{2} - \frac{1}{2}r\sqrt{4-r^2} + C$ (۸.۲۶۷

۲۸۲۰۰ $-\frac{1}{3}\tan^{-1}[\frac{1}{3}\tan(\frac{\pi}{4}-\theta)] + C$ (۸.۲۶۹

۲۸۲۰۱ $\frac{e^{2t}}{13}(2\cos 3t + 3\sin 3t) + C$ (۸.۲۷۱

۲۸۲۰۲ $\frac{x^2}{2}\cos^{-1}x + \frac{1}{4}\sin^{-1}x - \frac{1}{4}x\sqrt{1-x^2} +$ (۸.۲۷۳

۲۸۲۰۳ C

۲۸۲۰۴ $\frac{s}{18(9-s^2)} + \frac{1}{108}\ln\left|\frac{s+3}{s-3}\right| + C$ (۸.۲۷۵

۲۸۲۰۵ $-\frac{\sqrt{4x+9}}{x} + \frac{2}{3}\ln\left|\frac{\sqrt{4x+9}-3}{\sqrt{4x+9}+3}\right| + C$ (۸.۲۷۷

۲۸۲۰۶ $2\sqrt{3t-4} - 4\tan^{-1}\sqrt{\frac{3t-4}{4}} + C$ (۸.۲۷۹

۲۸۲۰۷ $\frac{x^3}{3}\tan^{-1}x - \frac{x^2}{6} + \frac{1}{6}\ln(1+x^2) + C$ (۸.۲۸۱

۲۸۲۰۸ $-\frac{\cos 5x}{10} - \frac{\cos x}{2} + C$ (۸.۲۸۳

۲۸۲۰۹ $8[\frac{\sin(7t/2)}{7} - \frac{\sin(9t/2)}{9}] + C$ (۸.۲۸۵

۲۸۲۱۰ $6\sin(\theta/12) + \frac{6}{7}\sin(7\theta/12) + C$ (۸.۲۸۷

۲۸۲۱۱ $\frac{1}{2}\ln\left|x^2+1\right| + \frac{x}{2(1+x^2)} + \frac{1}{2}\tan^{-1}x +$ (۸.۲۸۹

۲۸۲۱۲ C

۲۸۲۱۳ $(x-\frac{1}{2})\sin^{-1}\sqrt{x} + \frac{1}{2}\sqrt{x-x^2} + C$ (۸.۲۹۱

۲۸۲۱۴ $\sin^{-1}\sqrt{x} - \sqrt{x-x^2} + C$ (۸.۲۹۳

۲۸۲۱۵ $\sqrt{1-\sin^2 t} - \ln\left|\frac{1+\sqrt{1-\sin^2 t}}{\sin t}\right| + C$ (۸.۲۹۵

۲۸۲۱۶ $\ln\left|\ln y + \sqrt{3+(\ln y)^2}\right| + C$ (۸.۲۹۷

۲۸۲۱۷ $\ln\left|3r + \sqrt{9r^2-1}\right| + C$ (۸.۲۹۹

۲۸۲۱۸ $x\cos^{-1}\sqrt{x} + \frac{1}{2}\sin^{-1}\sqrt{x} -$ (۸.۳۰۱

۲۸۲۱۹ $\frac{1}{2}\sqrt{x-x^2} + C$

۲۸۲۲۰ $-\frac{\sin^4 2x\cos 2x}{10} - \frac{2\sin^2 2x\cos 2x}{15} -$ (۸.۳۰۳

۲۸۲۲۱ $\frac{4\cos 2x}{15} + C$

۲۸۲۲۲ $\frac{\cos^3 2\pi t\sin 2\pi t}{\pi} + \frac{3}{2}\frac{\cos 2\pi t\sin 2\pi t}{\pi} + 3t +$ (۸.۳۰۵

۲۸۲۲۳ C

۲۸۲۲۴ $\frac{\sin^3 2\theta\cos^2 2\theta}{10} + \frac{\sin^3 2\theta}{15} + C$ (۸.۳۰۷

۲۸۲۲۵ $\frac{2}{3}\tan^3 t + C$ (۸.۳۰۹

۲۸۲۲۶ $\tan^2 2x - 2\ln|\sec 2x| + C$ (۸.۳۱۱

۲۸۲۲۷ $8[-\frac{1}{3}\cot^3 t + \cot t + t] + C$ (۸.۳۱۳

۲۸۲۲۸ $\frac{(\sec\pi x)(\tan\pi x)}{\pi} + \frac{1}{\pi}\ln|\sec\pi x + \tan\pi x| +$ (۸.۳۱۵

۲۸۲۲۹ C

۲۸۲۳۰ $\frac{\sec^2 3x\tan 3x}{3} + \frac{2}{3}\tan 3x + C$ (۸.۳۱۷

۲۸۲۳۱ $-\frac{\csc^3 x\cot x}{4} - \frac{3\csc x\cot x}{8} - \frac{3}{8}\ln|\csc x + \cot x| +$ (۸.۳۱۹

۲۸۲۳۲ C

۲۸۲۳۳ $4x^4(\ln x)^2 - 2x^4(\ln x) + \frac{x^2}{2} + C$ (۸.۳۲۱

۲۸۲۳۴ $\frac{e^{3x}}{9}(3x-1) + C$ (۸.۳۲۳

۲۸۲۳۵ $2x^3e^{x/2} - 12x^2e^{x/2} + 96e^{x/2}(\frac{x}{2} -$ (۸.۳۲۵

۲۸۲۳۶ $1) + C$

۲۸۲۳۷ $\frac{x^2 2^x}{\ln 2} - \frac{2}{\ln 2}[\frac{x2^x}{\ln 2} - \frac{2^x}{(\ln 2)^2}] + C$ (۸.۳۲۷

۲۸۲۳۸ $\frac{x\pi^x}{\ln\pi} - \frac{\pi^x}{(\ln\pi)^2} + C$ (۸.۳۲۹

۲۸۲۳۹ $\frac{1}{2}[\sec(e^t - 1)\tan(e^t - 1) +$ (۸.۳۳۱

۲۸۲۴۰ $\ln\left|\sec(e^t-1) + \tan(e^t-1)\right|] + C$

۲۸۲۴۱ $\sqrt{2} + \ln(\sqrt{2}+1)$ (۸.۳۳۳

۲۸۲۴۲ $\frac{\pi}{3}$ (۸.۳۳۵

۲۸۲۴۳ $\frac{1}{120}\sinh^4 3x\cosh 3x - \frac{1}{90}\sinh^2 3x\cosh 3x +$ (۸.۳۳۷

۲۸۲۴۴ $\frac{2}{90}\cosh 3x + C$

۲۸۲۴۵ $\frac{x^2}{3}\sinh 3x - \frac{2x}{9}\cosh 3x + \frac{2}{27}\sinh 3x +$ (۸.۳۳۹

۲۸۲۴۶ C

۲۸۲۴۷ $-\frac{\sinh^7 x}{7} + C$ (۸.۳۴۱

۲۸۴۳۸ (۸.۳۵۱) $\pi(2\sqrt{3}+\sqrt{2})\ln(\sqrt{2}+\sqrt{3})$

۲۸۴۳۹ (۸.۳۵۳) $\bar{x}=\frac{4}{3},\ \bar{y}=\ln\sqrt{2}$

۲۸۴۵۰ (۸.۳۵۵) 7.62

۲۸۴۵۱ (۸.۳۵۷) $\frac{\pi}{8}$

۲۸۴۵۲ (۸.۳۶۱) $\frac{\pi}{4}$

۲۸۴۵۳ حصہ ۸.۶ صفحہ ۸۶۹

۲۸۴۵۴ (۸.۳۶۲) $\frac{\pi}{2}$

۲۸۴۵۵ (۸.۳۶۴) 2

۲۸۴۵۶ (۸.۳۶۶) 6

۲۸۴۵۷ (۸.۳۶۸) $\frac{\pi}{2}$

۲۸۴۵۸ (۸.۳۷۰) $\ln 3$

۲۸۴۵۹ (۸.۳۷۲) $\ln 4$

۲۸۴۶۰ (۸.۳۷۴) 0

۲۸۴۶۱ (۸.۳۷۶) $\sqrt{3}$

۲۸۴۶۲ (۸.۳۷۸) π

۲۸۴۶۳ (۸.۳۸۰) $\ln(1+\pi/2)$

۲۸۴۶۴ (۸.۳۸۲) -1

۲۸۴۶۵ (۸.۳۸۴) 1

۲۸۴۶۶ (۸.۳۸۶) $-\frac{1}{4}$

۲۸۴۶۷ (۸.۳۸۸) $\frac{\pi}{2}$

۲۸۴۶۸ (۸.۳۹۰) $\frac{\pi}{3}$

۲۸۴۶۹ (۸.۳۹۲) 6

۲۸۴۷۰ (۸.۳۹۴) $\ln 2$

۲۸۴۷۱ (۸.۳۹۶) منفرج

۲۸۴۷۲ (۸.۳۹۸) مرتکز

۲۸۴۷۳ (۸.۴۰۰) مرتکز

۲۸۴۷۴ (۸.۴۰۲) مرتکز

۲۸۴۷۵ (۸.۴۰۴) منفرج

۲۸۴۷۶ (۸.۴۰۶) مرتکز

۲۸۴۷۷ (۸.۴۰۸) مرتکز

۲۸۴۷۸ (۸.۴۱۰) منفرج

۲۸۴۷۹ (۸.۴۱۲) مرتکز

۲۸۴۸۰ (۸.۴۱۴) مرتکز

۲۸۴۸۱ (۸.۴۱۶) منفرج

۲۸۴۸۲ (۸.۴۱۸) مرتکز

۲۸۴۸۳ (۸.۴۲۰) منفرج

۲۸۴۸۴ (۸.۴۲۲) مرتکز

۲۸۴۸۵ (۸.۴۲۴) مرتکز

۲۸۴۸۶ (۸.۴۲۶) (ب) $\approx 0.886\,21$

۲۸۴۸۷ (۸.۴۳۰) 1

۲۸۴۸۸ (۸.۴۳۲) 2π

۲۸۴۸۹ (۸.۴۳۴) $\ln 2$

۲۸۴۹۰ (۸.۴۴۰) منفرج

۲۸۴۹۱ (۸.۴۴۲) مرتکز

۲۸۴۹۲ (۸.۴۴۴) مرتکز

۲۸۴۹۳ (۸.۴۴۶) منفرج

۲۸۴۹۴ (۸.۴۵۲) (ب) $\frac{\pi}{2}$

۲۸۴۹۵ حصہ ۹.۱ صفحہ ۸۸۸

۲۸۴۹۶ (۹.۱) $a_1=0,\ a_2=-\frac{1}{4},\ a_3=-\frac{2}{9},\ a_4=-\frac{3}{16}$

۲۸۴۹۷ (۹.۳) $a_1=1,\ a_2=-\frac{1}{3},\ a_3=\frac{1}{5},\ a_4=-\frac{1}{7}$

۲۸۴۹۸ (۹.۵) $a_1=\frac{1}{2},\ a_2=\frac{1}{2},\ a_3=\frac{1}{2},\ a_4=\frac{1}{2}$

۲۸۴۹۹ (۹.۷) $1,\frac{3}{2},\frac{7}{4},\frac{15}{8},\frac{31}{16},\frac{63}{32},\frac{127}{64},\frac{255}{128},\frac{511}{256},\frac{1023}{512}$

۲۸۵۰۰ (۹.۹) $2,1,-\frac{1}{2},-\frac{1}{4},\frac{1}{8},\frac{1}{16},-\frac{1}{32},-\frac{1}{64},\frac{1}{128},\frac{1}{256}$

۲۸۵۰۱ (۹.۱۱) $1,1,2,3,5,8,13,21,34,55$

۲۸۵۰۲ (۹.۱۳) $a_n=(-1)^{n+1},\ n\geq 1$

۲۸۵۰۳ (۹.۱۵) $a_n=(-1)^{n+1}(n)^2,\ n\geq 1$

۲۸۵۰۴ (۹.۱۷) $a_n=n^2-1,\ n\geq 1$

۲۸۵۰۵ (۹.۱۹) $a_n=4n-3,\ n\geq 1$

۲۸۵۰۶ (۹.۲۱) $a_n=\frac{1+(-1)^{n+1}}{2},\ n\geq 1$

۲۸۵۰۷ (۹.۲۳) $N=692,\ a_n=\sqrt[n]{0.5},\ L=1$

۲۸۵۰۸ (۹.۲۵) $N=65,\ a_n=(0.9)^n,\ L=0$

۲۸۵۰۹ (۹.۲۷) (ب) $\sqrt{3}$

۲۸۵۱۰ (۹.۳۱) غیر گھٹتا، محدود

۲۸۵۱۱ (۹.۳۳) غیر گھٹتا نہیں ہے، محدود

۲۸۵۱۲ (۹.۳۵) مرتکز، غیر گھٹتا، غیر گھٹتا تسلسل کا مسئلہ

۲۸۵۱۳ (۹.۳۷) مرتکز، غیر گھٹتا، غیر گھٹتا تسلسل کا مسئلہ

۲۸۵۱۴ (۹.۳۹) منفرج، انفراج کی تعریف

۲۸۵۱۵ (۹.۴۳) مرتکز

۲۸۵۱۶ (۹.۴۵) مرتکز

۲۸۵۱۷ حصہ ۹.۳ صفحہ ۹۰۳

۲۸۵۱۸ (۹.۶۹) مرتکز، 2

۲۸۵۱۹ (۹.۷۱) مرتکز، -1

۲۸۵۲۰ (۹.۷۳) مرتکز، -5

۲۸۵۲۱ (۹.۷۵) منفرج

۲۸۵۲۲ (۹.۷۷) منفرج

۲۸۵۲۳ (۹.۷۹) مرتکز، $\frac{1}{2}$

۲۸۵۲۴ (۹.۸۱) مرتکز، 0

۲۸۵۲۵ (۹.۸۳) مرتکز، $\sqrt{2}$

۲۸۵۲۶ (۹.۸۵) مرتکز، 1

۲۸۵۲۷ (۹.۸۷) مرتکز، 0

۲۸۵۲۸ (۹.۸۹) مرتکز، 0

۲۸۵۲۹ (۹.۹۱) مرتکز، 0

۲۸۳۳۰ (۹.۹۳) مرتکز، 1

۲۸۳۳۱ (۹.۹۵) مرتکز، e^7

۲۸۳۳۲ (۹.۹۷) مرتکز، 1

۲۸۳۳۳ (۹.۹۹) مرتکز، 1

۲۸۳۳۴ (۹.۱۰۱) منفرج

۲۸۳۳۵ (۹.۱۰۳) مرتکز، 4

۲۸۳۳۶ (۹.۱۰۵) مرتکز، 0

۲۸۳۳۷ (۹.۱۰۷) منفرج

۲۸۳۳۸ (۹.۱۰۹) مرتکز، e^{-1}

۲۸۳۳۹ (۹.۱۱۱) مرتکز، $e^{2/3}$

۲۸۳۴۰ (۹.۱۱۳) مرتکز، x ، $(x > 0)$

۲۸۳۴۱ (۹.۱۱۵) مرتکز، 0

۲۸۳۴۲ (۹.۱۱۷) مرتکز، 1

۲۸۳۴۳ (۹.۱۱۹) مرتکز، $\frac{1}{2}$

۲۸۳۴۴ (۹.۱۲۱) مرتکز، $\frac{\pi}{2}$

۲۸۳۴۵ (۹.۱۲۳) مرتکز، 0

۲۸۳۴۶ (۹.۱۲۵) مرتکز، 0

۲۸۳۴۷ (۹.۱۲۷) مرتکز، $\frac{1}{2}$

۲۸۳۴۸ (۹.۱۲۹) مرتکز، 0

۲۸۳۴۹ (۹.۱۳۱) $x_n = 2^{n-2}$

۲۸۳۵۰ (۹.۱۳۳) (الف) $f(x) = x^2 - 2,\ 1.414213562 \approx$

۲۸۳۵۱ $\sqrt{2}$ ،

۲۸۳۵۲ (ب) $f(x) = \tan(x) - 1,\ 0.7853981635 \approx$

۲۸۳۵۳ $\frac{\pi}{4}$ ،(ج) $f(x) = e^x$ ،منفرج

۲۸۳۵۴ (۹.۱۳۵) (ب) 1

۲۸۳۵۵ (۹.۱۴۳) 1

۲۸۳۵۶ (۹.۱۴۵) -0.73908456

۲۸۳۵۷ (۹.۱۴۷) 0.853748068

۲۸۳۵۸ (۹.۱۵۱) -3

۲۸۳۵۹ حصہ ۹.۴ صفحہ ۹۱۸

۲۸۳۶۰ (۹.۱۵۳) $3,\quad s_n = \frac{2(1-(1/3)^n)}{1-(1/3)}$

۲۸۳۶۱ (۹.۱۵۵) $\frac{2}{3},\quad s_n = \frac{1-(-1/2)^n}{1-(-1/2)}$

۲۸۳۶۲ (۹.۱۵۷) $\frac{1}{2},\quad s_n = \frac{1}{2} - \frac{1}{n+2}$

۲۸۳۶۳ (۹.۱۵۹) $\frac{4}{5},\quad 1 - \frac{1}{4} + \frac{1}{16} - \frac{1}{64} + \cdots$

۲۸۳۶۴ (۹.۱۶۱) $\frac{7}{3},\quad \frac{7}{4} + \frac{7}{16} + \frac{7}{64} + \cdots$

۲۸۳۶۵ (۹.۱۶۳) $\frac{23}{2},\quad (5+1) + (\frac{5}{2} + \frac{1}{3}) + (\frac{5}{4} + \frac{1}{9}) +$

۲۸۳۶۶ $(\frac{5}{8} + \frac{1}{27}) + \cdots$

۲۸۳۶۷ (۹.۱۶۵) $\frac{17}{6},\quad (1+1) + (\frac{1}{2} - \frac{1}{5}) + (\frac{1}{4} + \frac{1}{25}) +$

۲۸۳۶۸ $(\frac{1}{8} - \frac{1}{125}) + \cdots$

۲۸۳۶۹ (۹.۱۶۷) 1

۲۸۳۷۰ (۹.۱۶۹) 5

۲۸۳۷۱ (۹.۱۷۱) مرتکز، 1

۲۸۳۷۲ (۹.۱۷۳) مرتکز، $-\frac{1}{\ln 2}$

۲۸۳۷۳ (۹.۱۷۵) مرتکز، $2 + \sqrt{2}$

۲۸۳۷۴ (۹.۱۷۷) مرتکز، 1

۲۸۳۷۵ (۹.۱۷۹) منفرج

۲۸۳۷۶ (۹.۱۸۱) مرتکز، $\frac{e^2}{e^2-1}$

۲۸۳۷۷ (۹.۱۸۳) مرتکز، $\frac{2}{9}$

۲۸۳۷۸ (۹.۱۸۵) مرتکز، $\frac{3}{2}$

۲۸۳۷۹ (۹.۱۸۷) منفرج

۲۸۳۸۰ (۹.۱۸۹) منفرج

۲۸۳۸۱ (۹.۱۹۱) مرتکز، $\frac{\pi}{\pi-e}$

۲۸۳۸۲ (۹.۱۹۳) $a = 1, r = -x \quad |x| < 1$ کے لئے $\frac{1}{1+x}$ پر

۲۸۳۸۳ مرتکز۔

۲۸۳۸۴ (۹.۱۹۵) $a = 3,\ r = \frac{x-1}{2} \quad (-1,3)$ میں x کے لئے

۲۸۳۸۵ $\frac{6}{3-x}$ پر مرتکز۔

۲۸۳۸۶ (۹.۱۹۷) $|x| < \frac{1}{2},\ \frac{1}{1-2x}$

۲۸۳۸۷ (۹.۱۹۹) $-2 < x < 0,\ \frac{1}{2+x}$

۲۸۳۸۸ (۹.۲۰۱) $\frac{1}{1-\sin x}$ ؛ $x \neq (2k+1)\frac{\pi}{2}$ جہاں k عدد صحیح ہے

۲۸۳۸۹ (۹.۲۰۳) $\frac{23}{99}$

۲۸۳۹۰ (۹.۲۰۵) $\frac{7}{9}$

۲۸۳۹۱ (۹.۲۰۷) $\frac{1}{15}$

۲۸۳۹۲ (۹.۲۰۹) $\frac{41251}{33300}$

۲۸۳۹۳ (۹.۲۱۱) (الف) $\sum_{n=-2}^{\infty} \frac{1}{(n+4)(n+5)}$ ،(ب) $\sum_{n=0}^{\infty} \frac{1}{(n+2)(n+3)}$ ،

۲۸۳۹۴ (ج) $\sum_{n=5}^{\infty} \frac{1}{(n-3)(n-2)}$

۲۸۳۹۵ (۹.۲۱۳) (الف)جواب مختلف ہو سکتے ہیں،(ب)جواب مختلف ہو سکتے ہیں،(ج)

۲۸۳۹۶ جواب مختلف ہو سکتے ہیں۔

۲۸۳۹۷ (۹.۲۲۱) (الف) $r = \frac{3}{5}$ ،(ب) $r = -\frac{3}{10}$

۲۸۳۹۸ (۹.۲۲۳) $|r| < 1,\ \frac{1+2r}{1-r^2}$

۲۸۳۹۹ (۹.۲۲۵) $28\,\mathrm{m}$

۲۸۴۰۰ (۹.۲۲۷) $8\,\mathrm{m}^2$

۲۸۴۰۱ (۹.۲۲۹) (الف) $3(\frac{4}{3})^{n-1}$ ،(ب) $A_n = A + \frac{1}{3}A +$

۲۸۴۰۲ $\frac{1}{3}(\frac{4}{9})A + \cdots + \frac{1}{3}(\frac{4}{9})^{n-2}A$ ،

۲۸۴۰۳ $\lim_{n\to\infty} A_n = \frac{2\sqrt{3}}{5}$

۲۸۴۰۴ حصہ ۹.۵ صفحہ ۹۲۹

۲۸۴۰۵ (۹.۲۳۱) مرتکز؛ہندسی تسلسل، $r = \frac{1}{10} < 1$

۲۸۴۰۶ (۹.۲۳۳) منفرج؛ $\lim_{n\to\infty} \frac{n}{n+1} = 1 \neq 0$

۲۸۴۰۷ (۹.۲۳۵) منفرج؛ p تسلسل، $p < 1$

۲۸۴۰۸ (۹.۲۳۷) مرتکز؛ہندسی تسلسل، $r = \frac{1}{8} < 1$

۲۸۴۰۹ ۹.۲۳۹) منفرج؛ تکملی پرکھ

۲۸۴۱۰ ۹.۲۴۱) مرتکز؛ ہندسی تسلسل، $r = \frac{2}{3} < 1$

۲۸۴۱۱ ۹.۲۴۳) منفرج؛ تکملی پرکھ

۲۸۴۱۲ ۹.۲۴۵) منفرج؛ $\lim_{n\to\infty} \frac{2^n}{n+1} \neq 0$

۲۸۴۱۳ ۹.۲۴۷) منفرج؛ $\lim_{n\to\infty} (\frac{\sqrt{n}}{\ln n}) \neq 0$

۲۸۴۱۴ ۹.۲۴۹) منفرج؛ ہندسی تسلسل، $r = \frac{1}{\ln 2} > 1$

۲۸۴۱۵ ۹.۲۵۱) مرتکز؛ تکملی پرکھ

۲۸۴۱۶ ۹.۲۵۳) منفرج؛ n واں جزو پرکھ

۲۸۴۱۷ ۹.۲۵۵) مرتکز؛ تکملی پرکھ

۲۸۴۱۸ ۹.۲۵۷) مرتکز؛ تکملی پرکھ

۲۸۴۱۹ ۹.۲۵۹) مرتکز؛ تکملی پرکھ

۲۸۴۲۰ ۹.۲۶۱) (الف) $a = 1$

۲۸۴۲۱ ۹.۲۶۳) (ب) تقریباً 41.55

۲۸۴۲۲ ۹.۲۶۵) درست ہے۔

۲۸۴۲۳ حصہ ۹.۶ صفحہ ۹۳۸

۲۸۴۲۴ ۹.۲۷۳) منفرج، $\sum \frac{1}{\sqrt{n}}$ کے ساتھ تقابل حد

۲۸۴۲۵ ۹.۲۷۵) مرتکز، $\sum \frac{1}{2^n}$ کے ساتھ تقابل

۲۸۴۲۶ ۹.۲۷۷) منفرج، n واں جزو پرکھ

۲۸۴۲۷ ۹.۲۷۹) مرتکز، $(\frac{n}{3n+1})^n < (\frac{n}{3n})^n = (\frac{1}{3})^n$

۲۸۴۲۸ ۹.۲۸۱) منفرج، $\sum \frac{1}{n}$ کے ساتھ بلاواسطہ تقابل

۲۸۴۲۹ ۹.۲۸۳) مرتکز، $\sum \frac{1}{n^2}$ کے ساتھ تقابل حد

۲۸۴۳۰ ۹.۲۸۵) منفرج، $\sum \frac{1}{n}$ کے ساتھ تقابل حد

۲۸۴۳۱ ۹.۲۸۷) منفرج، $\sum \frac{1}{n}$ کے ساتھ تقابل حد

۲۸۴۳۲ ۹.۲۸۹) منفرج، تکملی پرکھ

۲۸۴۳۳ ۹.۲۹۱) مرتکز، $\sum \frac{1}{n^{3/2}}$ کے ساتھ تقابل

۲۸۴۳۴ ۹.۲۹۳) مرتکز، $\frac{1}{n2^n} \leq \frac{1}{2^n}$

۲۸۴۳۵ ۹.۲۹۵) مرتکز، $\frac{1}{3^{n-1}+1} < \frac{1}{3^{n-1}}$

۲۸۴۳۶ ۹.۲۹۷) منفرج، $\sum \frac{1}{n}$ کے ساتھ تقابل حد

۲۸۴۳۷ ۹.۲۹۹) مرتکز، $\sum \frac{1}{n^2}$ کے ساتھ تقابل

۲۸۴۳۸ ۹.۳۰۱) مرتکز، $\frac{\tan^{-1} n}{n^{1.1}} < \frac{\pi/2}{n^{1.1}}$

۲۸۴۳۹ ۹.۳۰۳) مرتکز، $\sum \frac{1}{n^2}$ کے ساتھ تقابل

۲۸۴۴۰ ۹.۳۰۵) منفرج، چونکہ $3n > n\sqrt[n]{n} \implies \frac{1}{3n} < \frac{1}{n\sqrt[n]{n}}$ سے

۲۸۴۴۱ مراد $\sum_{n=1}^{\infty} \frac{1}{n\sqrt[n]{n}}$ کا انفراج ہے۔

۲۸۴۴۲ ۹.۳۰۷) مرتکز، $\sum \frac{1}{n^2}$ کے ساتھ تقابل حد

۲۸۴۴۳ حصہ ۹.۷ صفحہ ۹۴۸

۲۸۴۴۴ ۹.۳۱۴) مرتکز، تناسبی پرکھ

۲۸۴۴۵ ۹.۳۱۶) منفرج، تناسبی پرکھ

۲۸۴۴۶ ۹.۳۱۸) مرتکز، تناسبی پرکھ

۲۸۴۴۷ ۹.۳۲۰) مرتکز، $\sum \frac{3}{1.25^n}$ کے ساتھ تقابل

۲۸۴۴۸ ۹.۳۲۲) منفرج، $\lim_{n\to\infty}(1 - \frac{3}{n})^n = e^{-3} \neq 0$

۲۸۴۴۹ ۹.۳۲۴) مرتکز، $\sum \frac{1}{n^2}$ کے ساتھ تقابل

۲۸۴۵۰ ۹.۳۲۶) منفرج، $\sum \frac{1}{2n}$ کے ساتھ تقابل

۲۸۴۵۱ ۹.۳۲۸) منفرج، $\sum \frac{1}{n}$ کے ساتھ تقابل

۲۸۴۵۲ ۹.۳۳۰) مرتکز، تناسبی پرکھ

۲۸۴۵۳ ۹.۳۳۲) مرتکز، تناسبی پرکھ

۲۸۴۵۴ ۹.۳۳۴) مرتکز، تناسبی پرکھ

۲۸۴۵۵ ۹.۳۳۶) مرتکز، تناسبی پرکھ

۲۸۴۵۶ ۹.۳۳۸) مرتکز، $\sum \frac{1}{n^2}$ کے ساتھ تقابل

۲۸۴۵۷ ۹.۳۴۰) مرتکز، تناسبی پرکھ

۲۸۴۵۸ ۹.۳۴۲) منفرج، تناسبی پرکھ

۲۸۴۵۹ ۹.۳۴۴) مرتکز، تناسبی پرکھ

۲۸۴۶۰ ۹.۳۴۶) مرتکز، تناسبی پرکھ

۲۸۴۶۱ ۹.۳۴۸) منفرج، $a_n = (\frac{1}{3})^{(1/n!)} \to 1$

۲۸۴۶۲ ۹.۳۵۰) مرتکز، تناسبی پرکھ

۲۸۴۶۳ ۹.۳۵۲) منفرج، تناسبی پرکھ

۲۸۴۶۴ ۹.۳۵۴) مرتکز، تناسبی پرکھ

۲۸۴۶۵ ۹.۳۵۶) مرتکز تناسبی پرکھ

۲۸۴۶۶ ۹.۳۶۰) جی ہاں

۲۸۴۶۷ حصہ ۹.۸ صفحہ ۹۵۷

۲۸۴۶۸ ۹.۳۶۱) مسئلہ ۹.۸ کے تحت ارتکاز

۲۸۴۶۹ ۹.۳۶۳) انفراج؛ $a_n \not\to 0$

۲۸۴۷۰ ۹.۳۶۵) مسئلہ ۹.۸ کے تحت ارتکاز

۲۸۴۷۱ ۹.۳۶۷) انفراج؛ $a_n \to \frac{1}{2}$

۲۸۴۷۲ ۹.۳۶۹) مسئلہ ۹.۸ کے تحت ارتکاز

۲۸۴۷۳ ۹.۳۷۱) مطلق مرتکز۔ مطلق قیمتوں کا تسلسل مرتکز ہندسی تسلسل ہے۔

۲۸۴۷۴ ۹.۳۷۳) مشروط ارتکاز۔ $\frac{1}{\sqrt{n}} \to 0$ لیکن $\sum_{n=1}^{\infty} \frac{1}{\sqrt{n}}$ منفرج ہے۔

۲۸۴۷۵ ۹.۳۷۵) مطلق مرتکز۔ $\sum_{n=1}^{\infty} \frac{1}{n^2}$ کے ساتھ موازنہ کریں۔

۲۸۴۷۶ ۹.۳۷۷) مشروط مرتکز۔ $\frac{1}{n+3} \to 0$ ہے لیکن $\sum_{n=1}^{\infty} \frac{1}{n+3}$

۲۸۴۷۷ منفرج ہے۔ ($\sum_{n=1}^{\infty} \frac{1}{n}$ کے ساتھ موازنہ کریں۔)

۲۸۴۷۸ ۹.۳۷۹) انفراج: $\frac{3+n}{5+n} \to 1$

۲۸۴۷۹ ۹.۳۸۱) مشروط مرتکز۔ $\frac{1+n}{n^2} > \frac{1}{n}$ لیکن $\left(\frac{1}{n^2} - \frac{1}{n}\right) \to 0$

۲۸۴۸۰ ہے۔

۲۸۴۸۱ ۹.۳۸۳) مطلق ارتکاز؛ جذری پرکھ

۲۸۴۸۲ ۹.۳۸۵) مطلق ارتکاز۔ تکملی پرکھ

۲۸۴۸۳ ۹.۳۸۷) منفرج؛ $a_n \not\to 0$

۹.۳۸۹) مطلق مرتکز۔ تناسبی پرکھ

۹.۳۹۱) مطلق مرتکز: $\frac{1}{n^2+2n+1} < \frac{1}{n^2}$

۹.۳۹۳) مطلق ارتکاز (مرتکز p تسلسل): $= \left|\frac{\cos n\pi}{n\sqrt{n}}\right|$

$$\left|\frac{(-1)^{n+1}}{n^{3/2}}\right| = \frac{1}{n^{3/2}}$$

۹.۳۹۵) مطلق مرتکز۔ جذری پرکھ

۹.۳۹۷) منفرج: $a_n \to \infty$

۹.۳۹۹) مشروط مرتکز: $\sqrt[n]{n+1} - \sqrt{n} = \frac{1}{\sqrt{n}+\sqrt{n+1}} \to 0$ لیکن مطلق قیمتوں کا تسلسل منفرج ہوتا ہے۔ ($\sum \frac{1}{n}$ کے ساتھ موازنہ کریں۔)

۹.۴۰۱) منفرج: $a_n \to \frac{1}{2} \neq 0$

۹.۴۰۳) مطلق مرتکز: $\operatorname{sech} n = \frac{2}{e^n+e^{-n}} = \frac{2e^n}{e^{2n}+1} < \frac{2}{e^n}$ اور $\frac{2e^n}{e^{2n}} = \frac{2}{e^n}$ مرتکز ہندسی تسلسل کا ایک جزو ہے۔

۹.۴۰۵) $|\text{خلل}| < 0.2$

۹.۴۰۷) $|\text{خلل}| < 2 \times 10^{-11}$

۹.۴۰۹) 0.54030

۹.۴۱۱) (الف) $a_n \geq a_{n+1}$ (ب) $-\frac{1}{2}$

حصہ ۹.۹ صفحہ ۹۷۳

۹.۴۲۴) (الف) $-1 < x < 1$ (ب) $1, -1 < x < 1$ (ج) کوئی نہیں

۹.۴۲۶) (الف) $-\frac{1}{2} < x < 0$ (ب) $\frac{1}{4}, -\frac{1}{2} < x < 0$ (ج) کوئی نہیں

۹.۴۲۸) (الف) $-8 < x < 12$ (ب) $10, -8 < x < 12$ (ج) کوئی نہیں

۹.۴۳۰) (الف) $-1 < x < 1$ (ب) $1, -1 < x < 1$ (ج) کوئی نہیں

۹.۴۳۲) (الف) $[-3, 3]$ (ب) $3, [-3, 3]$ (ج) کوئی نہیں

۹.۴۳۴) (الف) تمام x کے لئے ∞ (ب) تمام x کے لئے (ج) کوئی نہیں

۹.۴۳۶) (الف) تمام x کے لئے ∞ (ب) تمام x کے لئے (ج) کوئی نہیں

۹.۴۳۸) (الف) $1 < x < 1$ (ب) $1, -1 \leq x < 1$ (ج) $x = -1$

۹.۴۴۰) (الف) $-8 < x < 2$ (ب) $5, -8 < x < 2$ (ج) کوئی نہیں

۹.۴۴۲) (الف) $-3 < x < 3$ (ب) $3, -3 < x < 3$ (ج) کوئی نہیں

۹.۴۴۴) (الف) $-1 < x < 1$ (ب) $1, -1 < x < 1$ (ج) کوئی نہیں

۹.۴۴۶) (الف) $x = 0$ (ب) $0, x = 0$ (ج) کوئی نہیں

۹.۴۴۸) (الف) $-4 < x \leq 0$ (ب) $2, -4 < x < 0$ (ج) $x = 0$

۹.۴۵۰) (الف) $-1 \leq x \leq 1$ (ب) $1, -1 \leq x \leq 1$ (ج) کوئی نہیں

۹.۴۵۲) (الف) $1 \leq x \leq \frac{3}{2}$ (ب) $\frac{1}{4}, 1 \leq x \leq \frac{3}{2}$ (ج) کوئی نہیں

۹.۴۵۴) (الف) $1, (-1-\pi) \leq x < (1-\pi)$ (ب) $(-1-\pi) < x < (1-\pi)$ (ج) $x = -1-\pi$

۹.۴۵۶) $-1 < x < 3, \frac{4}{3+2x-x^2}$

۹.۴۵۸) $0 < x < 16, \frac{2}{4-\sqrt{x}}$

۹.۴۶۰) $-\sqrt{2} < x < \sqrt{2}, \frac{3}{2-x^2}$

۹.۴۶۲) $1 < x < 5, \frac{2}{x-1}, 1 < x < 5, \frac{-2}{(x-1)^2}$

۹.۴۶۴) (الف) $\cos x = 1 - \frac{x^2}{2!} + \frac{x^4}{4!} - \frac{x^6}{6!} + \frac{x^8}{8!} - \frac{x^{10}}{10!} + \cdots$ ؛ تمام x کے لئے مرتکز ہے (ب) اور (ج) $2x - \frac{2^3x^3}{3!} + \frac{2^5x^5}{5!} - \frac{2^7x^7}{7!} + \frac{2^9x^9}{9!} - \frac{2^{11}x^{11}}{11!} + \cdots$

۹.۴۶۶) (الف) $\frac{x^2}{2} + \frac{x^4}{12} + \frac{x^6}{45} + \frac{17x^8}{2520} + \frac{31x^{10}}{14175}, -\frac{\pi}{2} < x < \frac{\pi}{2}$ (ب) $1 + x^2 + \frac{2x^4}{3} + \frac{17x^6}{45} + \frac{62x^8}{315} + \cdots, -\frac{\pi}{2} < x < \frac{\pi}{2}$

حصہ ۹.۱۰ صفحہ ۹۸۳

۹.۴۷۲) $P_0(x) = 0$ ، $P_1(x) = x-1$ ، $P_2(x) = (x-1) - \frac{1}{2}(x-1)^2$

۹.۴۷۴) $P_0(x) = \frac{1}{2}$ ، $P_1(x) = \frac{1}{2} - \frac{1}{4}(x-2)$ ، $P_2(x) = \frac{1}{2} - \frac{1}{4}(x-2) + \frac{1}{8}(x-2)^2$ ، $P_3(x) = \frac{1}{2} - \frac{1}{4}(x-2) + \frac{1}{8}(x-2)^2 - \frac{1}{16}(x-2)^3$

۹.۴۷۶) $P_0(x) = \frac{\sqrt{2}}{2}$ ، $P_1(x) = \frac{\sqrt{2}}{2} + \frac{\sqrt{2}}{2}(x - \frac{\pi}{4})$ ، $P_2(x) = \frac{\sqrt{2}}{2} + \frac{\sqrt{2}}{2}(x-\frac{\pi}{4}) - \frac{\sqrt{2}}{4}(x-\frac{\pi}{4})^2$ ، $P_3(x) = \frac{\sqrt{2}}{2} + \frac{\sqrt{2}}{2}(x-\frac{\pi}{4}) - \frac{\sqrt{2}}{4}(x-\frac{\pi}{4})^2 - \frac{\sqrt{2}}{12}(x-\frac{\pi}{4})^3$

۹.۴۷۸) $P_0(x) = 2$ ، $P_1(x) = 2 + \frac{1}{4}(x-4)$ ، $P_2(x) = 2 + \frac{1}{4}(x-4) - \frac{1}{64}(x-4)^2$ ،

$$P_{23}(x) = 2 + \tfrac{1}{4}(x-4) - \tfrac{1}{64}(x-4)^2 + \tfrac{1}{512}(x-4)^3$$

$$\sum_{n=0}^{\infty} \frac{(-x)^n}{n!} = 1 - x + \frac{x^2}{2!} - \frac{x^3}{3!} + \frac{x^4}{4!} - \cdots \qquad (۹.۴۸۰)$$

$$\sum_{n=0}^{\infty} (-1)^n x^n = 1 - x + x^2 - x^3 + \cdots \qquad (۹.۴۸۲)$$

$$\sum_{n=0}^{\infty} \frac{(-1)^n 3^{2n+1} x^{2n+1}}{(2n+1)!} \qquad (۹.۴۸۴)$$

$$7 \sum_{n=0}^{\infty} \frac{(-1)^n x^{2n}}{(2n)!} \qquad (۹.۴۸۶)$$

$$\sum_{n=0}^{\infty} \frac{x^{2n}}{(2n)!} \qquad (۹.۴۸۸)$$

$$x^4 - 2x^3 - 5x + 4 \qquad (۹.۴۹۰)$$

$$8 + 10(x-2) + 6(x-2)^2 + (x-2)^3 \qquad (۹.۴۹۲)$$

$$21 - 36(x+2) + 25(x+2)^2 - 8(x+2)^3 + (x+2)^4 \qquad (۹.۴۹۴)$$

$$\sum_{n=0}^{\infty} (-1)^n (n+1)(x-1)^n \qquad (۹.۴۹۶)$$

$$\sum_{n=0}^{\infty} \frac{e^2}{n!}(x-2)^n \qquad (۹.۴۹۸)$$

$$L(x) = 0,\ Q(x) = -\frac{x^2}{2} \qquad (۹.۵۰۴)$$

$$L(x) = 1,\ Q(x) = 1 + \frac{x^2}{2} \qquad (۹.۵۰۶)$$

$$L(x) = x,\ Q(x) = x \qquad (۹.۵۰۸)$$

حصہ ۹.۱۱ صفحہ ۹۹۶

$$\sum_{n=0}^{\infty} \frac{(-5x)^n}{n!} = 1 - 5x + \frac{5^2x^2}{2!} - \frac{5^3x^3}{3!} + \cdots \qquad (۹.۵۱۰)$$

$$\sum_{n=0}^{\infty} \frac{5(-1)^n(-x)^{2n+1}}{(2n+1)!} = \sum_{n=0}^{\infty} \frac{5(-1)^{n+1}x^{2n+1}}{(2n+1)!} = -5x + \frac{5x^3}{3!} - \frac{5x^5}{5!} + \frac{5x^7}{7!} + \cdots \qquad (۹.۵۱۲)$$

$$\sum_{n=0}^{\infty} \frac{(-1)^n x^n}{(2n)!} \qquad (۹.۵۱۴)$$

$$\sum_{n=0}^{\infty} \frac{x^{n+1}}{n!} = x + x^2 + \frac{x^3}{2!} + \frac{x^4}{3!} + \frac{x^5}{4!} + \cdots \qquad (۹.۵۱۶)$$

$$\sum_{n=2}^{\infty} \frac{(-1)^n x^{2n}}{(2n)!} = \frac{x^4}{4!} - \frac{x^6}{6!} + \frac{x^8}{8!} - \frac{x^{10}}{10!} + \cdots \qquad (۹.۵۱۸)$$

$$x - \frac{\pi^2 x^3}{2!} + \frac{\pi^4 x^5}{4!} - \frac{\pi^6 x^7}{6!} + \cdots = \sum_{n=0}^{\infty} \frac{(-1)^n \pi^{2n} x^{2n+1}}{(2n)!} \qquad (۹.۵۲۰)$$

$$1 + \sum_{n=1}^{\infty} \frac{(-1)^n (2x)^{2n}}{2\cdot(2n)!} = 1 - \frac{(2x)^2}{2\cdot 2!} + \frac{(2x)^4}{2\cdot 4!} - \frac{(2x)^6}{2\cdot 6!} + \cdots \qquad (۹.۵۲۲)$$

$$\sum_{n=0}^{\infty} (2x)^{n+2} = 2^2x^2 + 2^3x^3 + 2^4x^3 + \cdots \qquad (۹.۵۲۴)$$

$$\sum_{n=1}^{\infty} nx^{n-1} = 1 + 2x + 3x^2 + 4x^3 + \cdots \qquad (۹.۵۲۶)$$

$$|x| < (0.06)^{1/5} < 0.56968 \qquad (۹.۵۲۸)$$

$$\left|\text{خلل}\right| < \frac{(10^{-3})^3}{6} < 1.67 \times 10^{-10}, \quad -10^{-3} < x < 0 \qquad (۹.۵۳۰)$$

$$\left|\text{خلل}\right| < \frac{(3^{0.1})(0.1)^3}{6} < 1.87 \times 10^{-5} \qquad (۹.۵۳۲)$$

$$0.000\,293\,653 \qquad (۹.۵۳۴)$$

$$|x| < 0.02 \qquad (۹.۵۳۶)$$

$$\sin x, \quad x = 0.1;\ \sin(0.1) \qquad (۹.۵۴۰)$$

$$\tan^{-1} x, \quad x = \tfrac{\pi}{3};\ \sqrt{3} \qquad (۹.۵۴۲)$$

$$e^x \sin x = x + x^2 + \frac{x^3}{3} - \frac{x^5}{30} - \frac{x^6}{90} + \cdots \qquad (۹.۵۴۴)$$

(الف) $Q(x) = 1 + kx + \frac{k(k-1)}{2}x^2$ ، (ب) $0 \le x \le 100^{-1/3}$ (۹.۵۵۲)

(ا) -1 ، (ب) $(1/\sqrt{2})(1+i)$ ، (ج) $-i$ (۹.۵۵۸)

$x + x^2 + \frac{1}{3}x^3 - \frac{1}{30}x^5 + \cdots$ تمام x کے لئے مرتکز ہے۔ (۹.۵۶۲)

حصہ ۹.۱۲ صفحہ ۱۰۱۳

$$1 + \frac{x}{2} - \frac{x^2}{8} + \frac{x^3}{16} \qquad (۹.۵۷۲)$$

$$1 + \frac{1}{2}x + \frac{3}{8}x^2 + \frac{5}{16}x^3 + \cdots \qquad (۹.۵۷۴)$$

$$1 - x + \frac{3x^2}{4} - \frac{x^3}{2} \qquad (۹.۵۷۶)$$

$$1 - \frac{x^3}{2} + \frac{3x^6}{8} - \frac{5x^9}{16} \qquad (۹.۵۷۸)$$

$$1 + \frac{1}{2x} - \frac{1}{8x^2} + \frac{1}{16x^3} \qquad (۹.۵۸۰)$$

$$(1+x)^4 = 1 + 4x + 6x^2 + 4x^3 + x^4 \qquad (۹.۵۸۲)$$

$$(1-2x)^3 = 1 - 6x + 12x^2 - 8x^3 \qquad (۹.۵۸۴)$$

$$y = \textstyle\sum_{n=0}^{\infty} \frac{(-1)^n}{n!} x^n = e^{-x} \qquad (۹.۵۸۶)$$

$$y = \textstyle\sum_{n=1}^{\infty} \frac{x^n}{n!} = e^x - 1 \qquad (۹.۵۸۸)$$

$$y = \textstyle\sum_{n=2}^{\infty} \frac{x^n}{n!} = e^x - x - 1 \qquad (۹.۵۹۰)$$

$$y = \textstyle\sum_{n=0}^{\infty} \frac{x^{2n}}{2^n n!} = e^{x^2/2} \qquad (۹.۵۹۲)$$

$$y = \textstyle\sum_{n=0}^{\infty} 2x^n = \frac{2}{1-x} \qquad (۹.۵۹۴)$$

$$y = \textstyle\sum_{n=0}^{\infty} \frac{x^{2n+1}}{(2n+1)!} = \sinh x \qquad (۹.۵۹۶)$$

$$y = 2 + x - 2\textstyle\sum_{n=1}^{\infty} \frac{(-1)^{n+1}x^{2n}}{(2n)!} \qquad (۹.۵۹۸)$$

$$y = \textstyle\sum_{n=0}^{\infty} \frac{-2(x-2)^{2n+1}}{(2n+1)!} \qquad (۹.۶۰۰)$$

۲۸۹۳۴ (۹.۶۰۲) $y = a + bx + \frac{1}{6}x^3 - \frac{ax^4}{3\cdot 4} - \frac{bx^5}{4\cdot 5} -$

۲۸۹۳۵ $\frac{x^7}{6\cdot 6\cdot 7} + \frac{ax^8}{3\cdot 4\cdot 7\cdot 8} + \frac{bx^9}{4\cdot 5\cdot 8\cdot 9} + \cdots$

۲۸۹۳۶ (۱۰.۱۳ ۲۸۹۴۵) $a_n = (n-2)(n-$ کے لئے $n \geq 6$ اور

۲۸۹۳۷ $3)a_{n-4}$ ہوں گے۔

۲۸۹۳۸ (۹.۶۰۴) $0.002\,67$

۲۸۹۳۹ (۹.۶۰۶) 0.1

۲۸۹۴۰ (۹.۶۰۸) $0.099\,944\,461$

۲۸۹۴۱ (۹.۶۱۰) $0.100\,001$

۲۸۹۴۲ (۹.۶۱۲) $\frac{1}{13\cdot 6!} \approx 0.000\,11$

۲۸۹۴۳ (۹.۶۱۴) $\frac{t^3}{3} - \frac{t^7}{7\cdot 3!} + \frac{t^{11}}{11\cdot 5!}$ (۱۰.۱۵ ۲۸۹۵۶)

۲۸۹۴۴ (۹.۶۱۶) (الف) $\frac{x^2}{2} - \frac{x^4}{12}$، (ب) $\frac{x^2}{2} - \frac{x^4}{3\cdot 4} + \frac{x^6}{5\cdot 6} -$

۲۸۹۴۵ $\frac{x^8}{7\cdot 8} + \cdots + (-1)^{15}\frac{x^{32}}{31\cdot 32}$

۲۸۹۴۶ (۹.۶۱۸) $\frac{1}{2}$

۲۸۹۴۷ (۹.۶۲۰) $-\frac{1}{24}$

۲۸۹۴۸ (۹.۶۲۲) $\frac{1}{3}$ (۱۰.۱۷ ۲۸۹۵۷)

۲۸۹۴۹ (۹.۶۲۴) -1

۲۸۹۵۰ (۹.۶۲۶) 2

۲۸۹۵۱ (۹.۶۳۰) 500 اجزاء

۲۸۹۵۲ (۹.۶۳۲) 3 اجزاء

۲۸۹۵۳ (۹.۶۳۴) (الف) $\frac{5x^7}{112}$ $\frac{3x^5}{40}$ $\frac{x^3}{6}$ x؛ بردائرہ اکائی 1 ہے،

۲۸۹۵۴ (ب) $\frac{\pi}{2} - x - \frac{x^3}{6} - \frac{3x^5}{40} - \frac{5x^7}{112}$ (۱۰.۱۹ ۲۸۹۵۸)

۲۸۹۵۵ (۹.۶۳۶) $1 - 2x + 3x^2 - 4x^3 + \cdots$

۲۸۹۵۶ حصہ ۱۰.۱ صفحہ ۱۰۳۱

۲۸۹۵۷ (۱۰.۱) $y^2 = 8x$، ماسکہ $F(2,0)$ اور ناظمہ $x = -2$

۲۸۹۵۸ (۱۰.۳) $x^2 = -6y$، ماسکہ $F(0,-\frac{3}{2})$ اور ناظمہ $y = \frac{3}{2}$ (۱۰.۲۱ ۲۸۹۵۹)

۲۸۹۵۹ (۱۰.۵) $\frac{x^2}{4} - \frac{y^2}{9} = 1$، ماسکے $F(\pm\sqrt{13},0)$، راس

۲۸۹۶۰ $V(\pm 2,0)$ اور متقارب $y = \pm\frac{3}{2}x$

۲۸۹۶۱ (۱۰.۷) $\frac{x^2}{2} + y^2 = 1$، ماسکے $F(\pm 1,0)$، راس

۲۸۹۶۲ $V(\pm\sqrt{2},0)$

۲۸۹۶۳ (۱۰.۹)

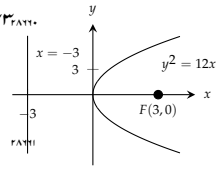

(۱۰.۲۳ ۲۸۶۶۰)

۲۸۹۶۴ (۱۰.۱۱)

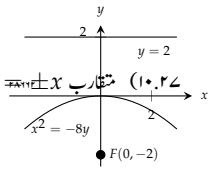

(۱۰.۲۷ ۲۸۶۶۱) متقارب $y = \pm x$ ہیں۔

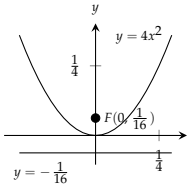

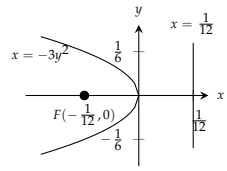

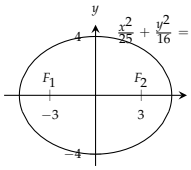

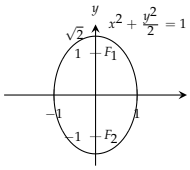

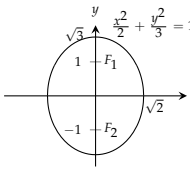

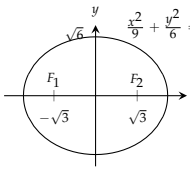

(۱۰.۲۵ $\frac{x^2}{4} + \frac{y^2}{2} = 1$

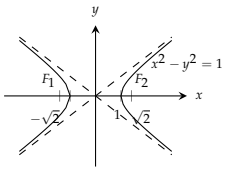

۱۰.۲۹) متقارب $y = \pm x$ ہیں۔

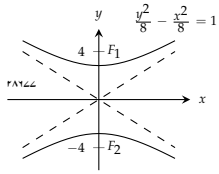

۱۰.۳۱) متقارب $y = \pm 2x$ ہیں۔

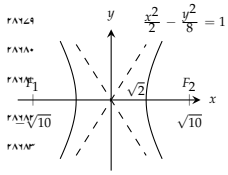

۱۰.۳۳) متقارب $y = \pm \frac{x}{2}$ ہیں۔

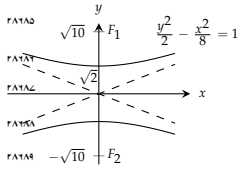

۱۰.۳۵) $y^2 - x^2 = 1$

۱۰.۳۷) $\frac{x^2}{9} - \frac{y^2}{16} = 1$

۱۰.۳۹) (الف) راس $(1, -2)$ ، ماسکہ $(3, -2)$ ، ناظمہ
(ب): $x = -1$

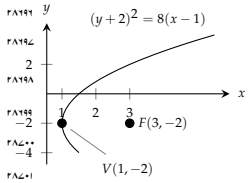

۱۰.۴۱) (الف)ماسکے $(4 \pm \sqrt{7}, 3)$ ،راس $(8, 3)$ اور $(0, 3)$ ،
(ب): مرکز $(4, 3)$

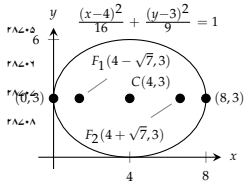

۱۰.۴۳) (الف)مرکز $(2, 0)$ ،ماسکے $(7, 0)$ اور $(-3, 0)$ ،ذیل ۱۰.۶۹)
$(6, 0)$ اور $(-2, 0)$ ،
(ب): متقارب $y = \pm \frac{3}{4}(x - 2)$

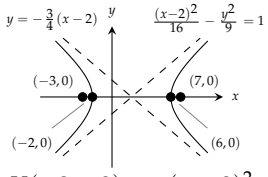

۱۰.۴۵) $(y + 3)^2 = 4(x + 2)$ ،راس $V(-2, -3)$ ،
ماسکہ $F(-1, -3)$ ،ناظمہ $x = -3$

۱۰.۴۷) $(x - 1)^2 = 8(y + 7)$ ،راس $V(1, -7)$ ،ماسکہ
$F(1, -5)$ ،ناظمہ $y = -9$

۱۰.۴۹) $\frac{(x+2)^2}{6} + \frac{(y+1)^2}{9} = 1$ ، $F(-2, \pm\sqrt{3} -$
$C(-2, -1)$ ، $V(-2, \pm 3 - 1)$ ، 1)

۱۰.۵۱) $\frac{(x-2)^2}{3} + \frac{(y-3)^2}{2} = 1$ ، $F(3, 3)$ اور
$C(2, 3)$ ، $V(\pm\sqrt{3} + 2, 3)$ ، $F(1, 3)$

۱۰.۵۳) $\frac{(x-2)^2}{4} - \frac{(y-2)^2}{5} = 1$ ، $C(2, 2)$ ، $F(5, 2)$
اور $F(-1, 2)$ ، $V(4, 2)$ اور $V(0, 2)$ ، متقارب
$y - 2 = \pm\frac{\sqrt{5}}{2}(x - 2)$

۱۰.۵۵) $(y + 1)^2 - (x + 1)^2 = 1$ ، $C(-1, -1)$ ،
$F(-1, \sqrt{2} - 1)$ اور $F(-1, -\sqrt{2} - 1)$ ،
$V(-1, -2)$ ، $V(-1, 0)$ ،
متقارب $y + 1 = \pm(x + 1)$

۱۰.۵۷) $C(-2, 0)$ ، $a = 4$

۱۰.۵۹) $V(-1, 1)$ ، $F(-1, 0)$

۱۰.۶۱) ترخیم $\frac{(x+2)^2}{5} + y^2 = 1$ ، $C(-2, 0)$ ،
$F(0, 0)$ اور $F(-4, 0)$ ، $V(\sqrt{5} - 2, 0)$ اور
$V(-\sqrt{5} - 2, 0)$

۱۰.۶۳) ترخیم $\frac{(x-1)^2}{5} + (y - 1)^2 = 1$ ، $C(1, 1)$ ،
$F(2, 1)$ اور $F(0, 1)$ ، $V(\sqrt{2} + 1, 1)$ اور
$V(-\sqrt{2} + 1, 1)$

۱۰.۶۵) قطع زائد $(x - 1)^2 - (y - 2)^2 = 1$ ، $C(1, 2)$ ،
$F(1 + \sqrt{2}, 2)$ اور $F(1 - \sqrt{2}, 2)$ ، $V(2, 2)$
اور $V(0, 2)$ ،
متقارب $y - 2 = \pm(x - 1)$

۱۰.۶۷) قطع زائد، $\frac{(y-3)^2}{6} - \frac{x^2}{3} = 1$ ، $C(0, 3)$ ،
$F(0, 6)$ اور $F(0, 0)$ ، $V(0, \sqrt{6} + 3)$ اور
$V(0, -\sqrt{6} + 3)$ ،
متقارب $y = \sqrt{2}x + 3$ اور $y = -\sqrt{2}x + 3$

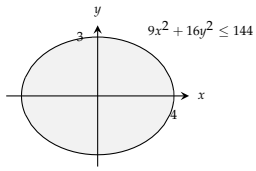

۲۸۷۱۰ (۱۰.۷۱ 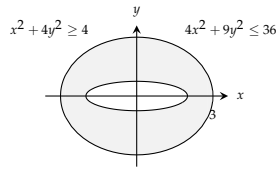

۲۸۷۱۱ (۱۰.۷۳ 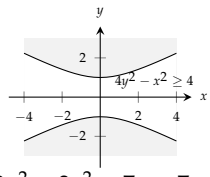

۲۸۷۱۲ (۱۰.۷۷ $3x^2+3y^2-7x-7y+4=0$

۲۸۷۱۳ (۱۰.۷۹ $(x+2)^2+(y-1)^2=13$ نقطہ دائرے کے اندر ہے۔

۲۸۷۱۴

۲۸۷۱۵ (۱۰.۸۱ (ب) $1:1$

۲۸۷۱۶ (۱۰.۸۳ لمبائی $2\sqrt{2}$، چوڑائی $\sqrt{2}$، رقبہ 4

۲۸۷۱۷ (۱۰.۸۵ 24π

۲۸۷۱۸ (۱۰.۸۷ $(0, \frac{16}{3\pi})$

۲۸۷۱۹ حصہ ۱۰.۲ صفحہ ۱۰۴۳

۲۸۷۲۰ (۱۰.۹۱ $e=\frac{3}{5},\ F(\pm 3,0),\ x=\pm\frac{25}{3}$

۲۸۷۲۱ (۱۰.۹۳ $e=\frac{1}{\sqrt{2}},\ F(0,\pm 1),\ y=\pm 2$

۲۸۷۲۲ (۱۰.۹۵ $e=\frac{1}{\sqrt{3}},\ F(0,\pm 1),\ y=\pm 3$

۲۸۷۲۳ (۱۰.۹۷ $e=\frac{\sqrt{3}}{3},\ F(\pm\sqrt{3},0),\ x=\pm 3\sqrt{3}$

۲۸۷۲۴ (۱۰.۹۹ $\frac{x^2}{27}+\frac{y^2}{36}=1$

۲۸۷۲۵ (۱۰.۱۰۱ $\frac{x^2}{4851}+\frac{y^2}{4900}=1$

۲۸۷۲۶ (۱۰.۱۰۳ $e=\frac{\sqrt{5}}{3},\ \frac{x^2}{9}+\frac{y^2}{4}=1$

۲۸۷۲۷ (۱۰.۱۰۵ $e=\frac{1}{2},\ \frac{x^2}{64}+\frac{y^2}{48}=1$

۲۸۷۲۸ (۱۰.۱۰۹ $\frac{(x-1)^2}{4}+\frac{(y-4)^2}{9}=1,\ F(1,4\pm\sqrt{5}),$

۲۸۷۲۹ $e=\frac{\sqrt{5}}{3},\ y=4\pm\frac{9\sqrt{5}}{5}$

۲۸۷۳۰ (۱۰.۱۱۱ $a=0,\ b=-4,\ c=0,\ e=\frac{\sqrt{3}}{2}$

۲۸۷۳۱ (۱۰.۱۱۳ $e=\sqrt{2},\ F(\pm\sqrt{2},0),\ x=\pm\frac{1}{\sqrt{2}}$

۲۸۷۳۲ (۱۰.۱۱۵ $e=\sqrt{2},\ F(0,\pm 4),\ y=\pm 2$

۲۸۷۳۳ (۱۰.۱۱۷ $e=\sqrt{5},\ F(\pm\sqrt{10},0), x=\pm\frac{2}{\sqrt{10}}$

۲۸۷۳۴ (۱۰.۱۱۹ $e=\sqrt{5},\ F(0,\pm\sqrt{10}),\ y=\pm\frac{2}{\sqrt{10}}$

۲۸۷۳۵ (۱۰.۱۲۱ $y^2-\frac{x^2}{8}=1$

۲۸۷۳۶ (۱۰.۱۲۳ $x^2-\frac{y^2}{8}=1$

۲۸۷۳۷ (۱۰.۱۲۵ $e=\sqrt{2},\ \frac{x^2}{8}-\frac{y^2}{8}=1$

۲۸۷۳۸ (۱۰.۱۲۷ $e=2,\ x^2-\frac{y^2}{3}=1$

۲۸۷۳۹ (۱۰.۱۲۹ $\frac{(y-6)^2}{36}-\frac{(x-1)^2}{45}=1$

۲۸۷۴۰ حصہ ۱۰.۳ صفحہ ۱۰۵۳

۲۸۷۴۱ (۱۰.۱۳۳ قطع زائد

۲۸۷۴۲ (۱۰.۱۳۵ ترخیم

۲۸۷۴۳ (۱۰.۱۳۷ قطع مکافی

۲۸۷۴۴ (۱۰.۱۳۹ قطع مکافی

۲۸۷۴۵ (۱۰.۱۴۱ قطع زائد

۲۸۷۴۶ (۱۰.۱۴۳ قطع زائد

۲۸۷۴۷ (۱۰.۱۴۵ ترخیم

۲۸۷۴۸ (۱۰.۱۴۷ ترخیم

۲۸۷۴۹ (۱۰.۱۴۹ $x'^2-y'^2=4$ قطع زائد

۲۸۷۵۰ (۱۰.۱۵۱ $4x'^2+16y'^2=0$ قطع مکافی

۲۸۷۵۱ (۱۰.۱۵۳ $y'^2=1$ متوازی لکیریں

۲۸۷۵۲ (۱۰.۱۵۵ $2\sqrt{2}x'^2+8\sqrt{2}y'^2=0$ قطع مکافی

۲۸۷۵۳ (۱۰.۱۵۷ $4x'^2+2y'^2=19$ ترخیم

۲۸۷۵۴ (۱۰.۱۵۹ $\sin\alpha=\frac{1}{\sqrt{5}},\ \cos\alpha=\frac{2}{\sqrt{5}}$ یا

۲۸۷۵۵ $\sin\alpha=-\frac{2}{\sqrt{5}},\ \cos\alpha=\frac{1}{\sqrt{5}}$

۲۸۷۵۶ (۱۰.۱۶۱ $A'=0.88,\ B'=0.00,\ C'=3.10,$

۲۸۷۵۷ $D'=0.74,\ E'=-1.20,\ F'=-3,$

۲۸۷۵۸ $0.88x'^2+3.01y'^2+0.74x'-$

۲۸۷۵۹ $1.20y'-3=0$ ترخیم

۲۸۷۶۰ (۱۰.۱۶۳ $A'=0.00,\ B'=0.00,\ C'=5.00,$

۲۸۷۶۱ $D'=0,\ E'=0,\ F'=-5,$

۲۸۷۶۲ $5.00y'^2-5=0$ یا

۲۸۷۶۳ $y'=\pm 1$ متوازی لکیریں

۲۸۷۶۴ (۱۰.۱۶۵ $A'=5.05,\ B'=0.00,\ C'=-0.05,$

۲۸۷۶۵ $D'=-5.07,\ E'=-6.18,\ F'=-1$

۲۸۷۶۶ $5.05x'^2-0.05y'^2-5.07x'-$

۲۸۷۶۷ $6.18y'-1=0$ قطع زائد

۲۸۷۶۸ (۱۰.۱۶۷ (الف) $\frac{x'^2}{b^2}+\frac{y'^2}{a^2}=1$، (ب) $\frac{y'^2}{a^2}-\frac{x'^2}{b^2}=1$،

۲۸۷۶۹ (ج) $x'^2+y'^2=a^2$، (د) $y'=-\frac{1}{m}x'$،

۲۸۷۷۰ (ہ) $y'=-\frac{1}{m}x'+\frac{b}{m}$

۲۸۷۷۱ (۱۰.۱۶۹ (الف) $x'^2-y'^2=2$، (ب) $x'^2-y'^2=2a$

۲۸۷۷۲ (۱۰.۱۷۵ (الف) قطع مکافی

۲۸۷۳ ۱۰.۱۷۷) (الف) قطع زائد، (ب)

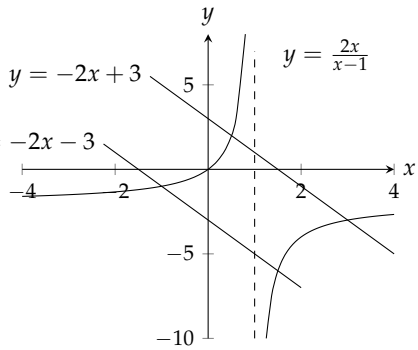

۲۸۷۴

۲۸۷۵ (ج) $y = -2x - 3$ ، $y = -2x + 3$

۲۸۷۶ حصہ ۱۰.۴ صفحہ ۱۰۶۶

۱۰.۱۸۲۸۷۷)

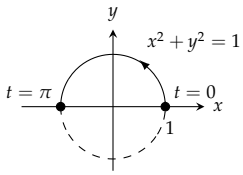

۱۰.۱۸۳۸۷۸)

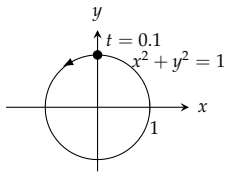

۱۰.۱۸۴۸۷۹)

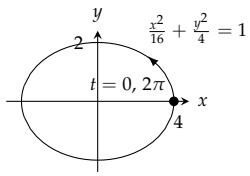

۱۰.۱۸۵۸۸۰)

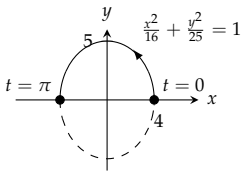

۱۰.۱۸۸۸۸۰)

۱۰.۱۹۰۸۸۱)

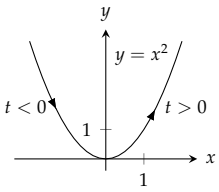

۱۰.۱۹۲۸۸۲)

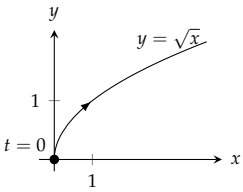

۱۰.۱۹۳۸۸۳)

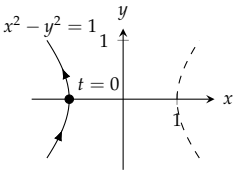

۱۰.۱۹۶۸۸۴)

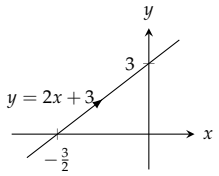

۱۰.۱۹۸۸۸۵)

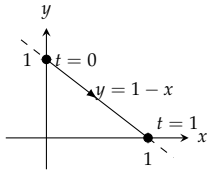

۱۰.۲۰۹۸۸۶)

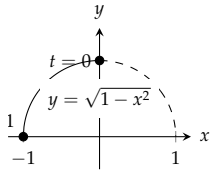

۱۰.۲۰۴۸۸۷)

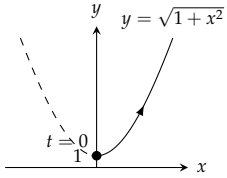

۲۸۸۴۲ (۱۰.۲۶۶) $3\pi a^2$

۲۸۸۴۳ (۱۰.۲۶۸) $\frac{64\pi}{3}$

۲۸۸۴۴ (۱۰.۲۷۰) $(\frac{\sqrt{2}}{2}, 1)$ ، $t = 0$ پر $y = 2x$ ، $t = \pi$ پر

۲۸۸۴۵ $y = -2x$

۲۸۸۴۶ (۱۰.۲۷۲)

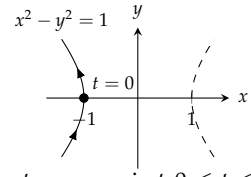

۲۸۸۴۷ (۱۰.۲۷۴)

۲۸۷۸۹ (۱۰.۲۰۶) (ا) $x = a\cos t, y = -a\sin t, 0 \le t \le 2\pi$

۲۸۷۹۰ (ب) $x = a\cos t,\ y = a\sin t,\ 0 \le t \le 2\pi$

۲۸۷۹۱ (ج) $x = a\cos t,\ y = a\sin t,\ 0 \le t \le 4\pi$

۲۸۷۹۲ (د) $x = a\cos t,\ y = a\sin t,\ 0 \le t \le 4\pi$

۲۸۷۹۳ (۱۰.۲۰۸) $x = \frac{-at}{\sqrt{1+t^2}},\ y = \frac{a}{\sqrt{1+t^2}},\ -\infty < t <$

۲۸۷۹۴ ∞

۲۸۷۹۵ (۱۰.۲۱۰) $x = 2\cos t,\ y = 2\sin^2 t,\ 0 < t < \pi$

۲۸۷۹۶ (۱۰.۲۱۲) (ب) $x = x_1 t,\ y = y_1 t$ آپ کا جواب مختلف ہو سکتا ہے،

۲۸۷۹۷ (ج) $x = -1 + t,\ y = t$ آپ کا جواب مختلف ہو سکتا

۲۸۷۹۸ ہے۔

۲۸۷۹۹ (۱۰.۲۱۴) $x = (a-b)\cos\theta + b\cos\left(\frac{a-b}{b}\theta\right),$

۲۸۸۰۰ $y = (a-b)\sin\theta - b\sin\left(\frac{a-b}{b}\theta\right)$

۲۸۸۰۱ (۱۰.۲۱۶) $x = a\sin^2 t\tan t,\ y = a\sin^2 t$

۲۸۸۰۲ (۱۰.۲۱۸) $(1, 1)$

۲۸۸۰۳ حصہ ۱۰.۵ صفحہ ۱۰۷۷

۲۸۸۰۴ (۱۰.۲۳۰) $y = -x + 2\sqrt{2},\ \frac{d^2y}{dx^2} = -\sqrt{2}$

۲۸۸۰۵ (۱۰.۲۳۲) $y = -\frac{1}{2}x + 2\sqrt{2},\ \frac{d^2y}{dx^2} = -\frac{\sqrt{2}}{4}$

۲۸۸۰۶ (۱۰.۲۳۴) $y = x + \frac{1}{4},\ \frac{d^2y}{dx^2} = -2$

۲۸۸۰۷ (۱۰.۲۳۶) $y = 2x - \sqrt{3},\ \frac{d^2y}{dx^2} = -3\sqrt{3}$

۲۸۸۰۸ (۱۰.۲۳۸) $y = x - 4,\ \frac{d^2y}{dx^2} = \frac{1}{2}$

۲۸۸۰۹ (۱۰.۲۴۰) $y = \sqrt{3}x - \frac{\pi\sqrt{3}}{3} + 2,\ \frac{d^2y}{dx^2} = -4$

۲۸۸۱۰ (۱۰.۲۴۲) 0

۲۸۸۱۱ (۱۰.۲۴۴) -6

۲۸۸۱۲ (۱۰.۲۴۶) 4

۲۸۸۱۳ (۱۰.۲۴۸) 12

۲۸۸۱۴ (۱۰.۲۵۰) π^2

۲۸۸۱۵ (۱۰.۲۵۲) $8\pi^2$

۲۸۸۱۶ (۱۰.۲۵۴) $\frac{52\pi}{3}$

۲۸۸۱۷ (۱۰.۲۵۶) $3\pi\sqrt{5}$

۲۸۸۱۸ (۱۰.۲۵۸) (ا) $(\bar{x}, \bar{y}) = (\frac{12}{\pi} - \frac{24}{\pi^2}, \frac{24}{\pi^2} - 2)$ ، (ب) وسطانی

۲۸۸۱۹ مرکز $(1.4, 0.4)$ (۱۰.۲۹۵)

۲۸۸۲۰ (۱۰.۲۶۰) (ا) $(\bar{x}, \bar{y}) = (\frac{1}{3}, \pi - \frac{4}{3})$

۲۸۸۲۱ (۱۰.۲۶۲) (ا) π ، (ب) π

۲۸۸۲۲ حصہ ۱۰.۶ صفحہ ۱۰۸۸

۲۸۸۲۳ (۱۰.۲۸۷) (ا) اور ہ؛ ب اور ز؛ ج اور ح؛ د اور و

۲۸۸۲۴ (۱۰.۲۸۹)

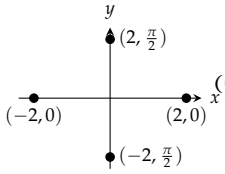

۲۸۸۲۵ (ا) $(2, \frac{\pi}{2} + 2n\pi)$ اور

۲۸۸۲۶ $(-2, \frac{\pi}{2} + (2n+1)\pi)$

۲۸۸۲۷ جہاں n عدد صحیح ہے۔

۲۸۸۲۸ (ب) $(2, 2n\pi)$ اور

۲۸۸۲۹ $(-2, (2n+1)\pi)$ جہاں

۲۸۸۳۰ n عدد صحیح ہے۔

۲۸۸۳۱ (ج) $(2, \frac{3\pi}{2} + 2n\pi)$ اور

۲۸۸۳۲ $(-2, \frac{3\pi}{2} + (2n+1)\pi)$

۲۸۸۳۳ جہاں n عدد صحیح ہے۔

۲۸۸۳۴ (د) $(2, (2n+1)\pi)$ اور

۲۸۸۳۵ $(-2, 2n\pi)$ جہاں n عدد صحیح ہے۔

۲۸۸۳۶ (۱۰.۲۹۱) (ا) $(3, 0)$ ، (ب) $(-3, 0)$ ، (ج) $(-1, \sqrt{3})$ ،

۲۸۸۳۷ (د) $(1, \sqrt{3})$ ، (ہ) $(3, 0)$ ، (و) $(1, \sqrt{3})$ ، (ز)

۲۸۸۳۸ $(-3, 0)$ ، (ح) $(-1, \sqrt{3})$

۲۸۸۳۹ (۱۰.۲۹۳)

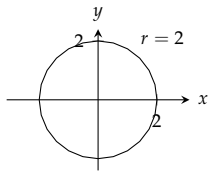

۲۸۸۴۰ (۱۰.۲۹۵)

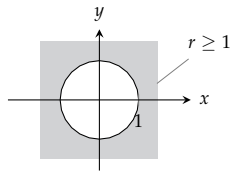

۲۸۸۵۸ (۱۰.۳۲۳) $y = e^x$ ،قدرتی قوت نمائی تفاعل۔

۲۸۸۵۹ (۱۰.۳۲۵) $x + y = \pm 1$ ،دو متوازی سیدھی لکیریں جن کی ڈھلوان

۲۸۸۶۰ $m = -1$ اور $b = \pm 1$ ہیں۔

۲۸۸۶۱ (۱۰.۳۲۷) $(x+2)^2 + y^2 = 4$ ،دائرہ،رداس 2 ،مرکز

۲۸۸۶۲ $(-2, 0)$

۲۸۸۶۳ (۱۰.۳۲۹) $x^2 + (y-4)^2 = 16$ ،دائرہ،رداس 4 ،مرکز

۲۸۸۶۴ $(0, 4)$

۲۸۸۶۵ (۱۰.۳۳۱) $(x-1)^2 + (y-1)^2 = 2$ ،دائرہ،رداس $\sqrt{2}$ ،

۲۸۸۶۶ مرکز $(1, 1)$

۲۸۸۶۷ (۱۰.۳۳۳) $\sqrt{3}y + x = 4$

۲۸۸۶۸ (۱۰.۳۳۵) $r\cos\theta = 7$

۲۸۸۶۹ (۱۰.۳۳۷) $\theta = \frac{\pi}{4}$

۲۸۸۷۰ (۱۰.۳۳۹) $r = 2$ یا $r = -2$

۲۸۸۷۱ (۱۰.۳۴۱) $4r^2\cos^2\theta + 9r^2\sin^2\theta = 36$

۲۸۸۷۲ (۱۰.۳۴۳) $r\sin^2\theta = 4\cos\theta$

۲۸۸۷۳ (۱۰.۳۴۵) $r = 4\sin\theta$

۲۸۸۷۴ (۱۰.۳۴۷) $r^2 = 6r\cos\theta - 2r\sin\theta - 6$

۲۸۸۷۵ (۱۰.۳۴۹) $(0, \theta)$ جہاں θ زاویہ ہے۔

۲۸۸۷۶ حصہ ۱۰.۷ صفحہ ۱۰۹۸

(۱۰.۲۹۷۸۳۵

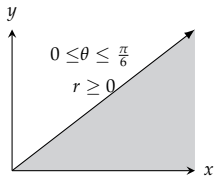

(۱۰.۲۹۹۸۳۶

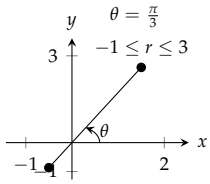

(۱۰.۳۰۱۸۳۷

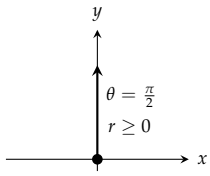

(۱۰.۳۰۳۸۳۸

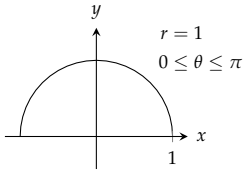

(۱۰.۳۰۵۸۳۹

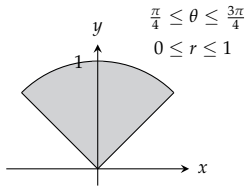

(۱۰.۳۰۷۸۴۰

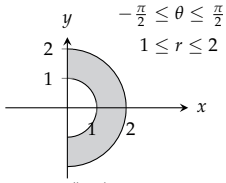

۲۸۸۵۱ (۱۰.۳۰۹) $x = 2$ ،نقطہ $(2, 0)$ سے گزرتی انتصابی خط

۲۸۸۵۲ (۱۰.۳۱۱) $y = 0$ ،محور x

۲۸۸۵۳ (۱۰.۳۱۳) $y = 4$ ،نقطہ $(0, 4)$ سے گزرتی افقی خط

۲۸۸۵۴ (۱۰.۳۱۵) $x + y = 1$ ،لکیر،جہاں $m = -1$ اور $b = 1$ ہیں۔

۲۸۸۵۵ (۱۰.۳۱۷) $x^2 + y^2 = 1$ ،دائرہ،رداس 1 ،مرکز $(0, 0)$

۲۸۸۵۶ (۱۰.۳۱۹) $y - 2x = 5$ ،لکیر، $m = 2$ ، $b = 5$

۲۸۸۵۷ (۱۰.۳۲۱) $y^2 = x$ ، قطع مکافی،راس $(0, 0)$ ،دائیں کھلتا ہے۔

(۱۰.۳۵۸۸۷۷

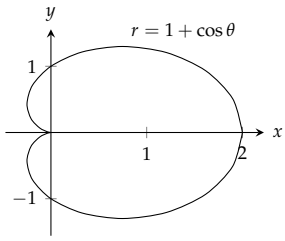

(۱۰.۳۵۹۸۷۸

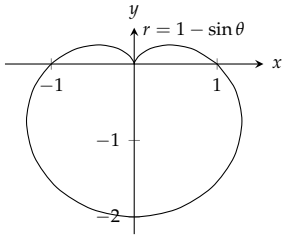

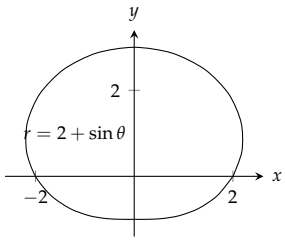

۲۸۸۸۹ 1 پر $\left(1, -\frac{3\pi}{4}\right)$ ، -1 پر

(۱۰.۳۵۷۸۰

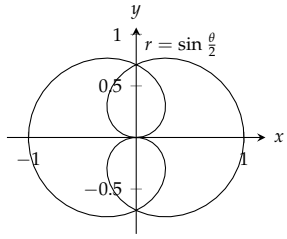

(۱۰.۳۷۸۹۰

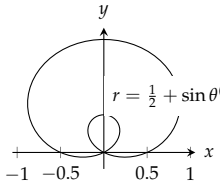

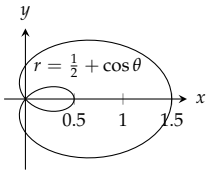

(۱۰.۳۵۹۸۸۱

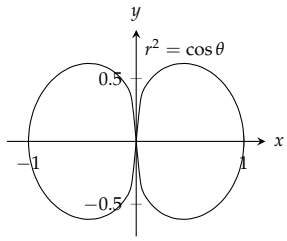

(۱۰.۳۷۳۹۱

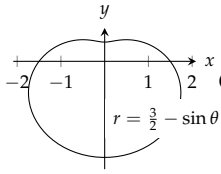

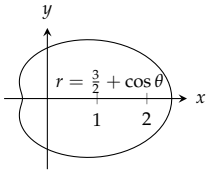

(۱۰.۳۶۸۸۲

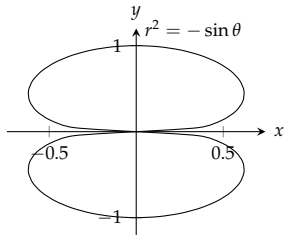

(۱۰.۳۷۵۹۲

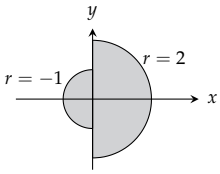

(۱۰.۳۷۷۹۳

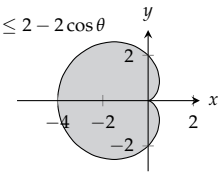

۲۸۸۸۳ ۱۰.۳۶۳) محور x ، محور y ، مبدا

۲۸۸۸۴ ۱۰.۳۶۵) مبدا

(۱۰.۳۶۷۸۸۵

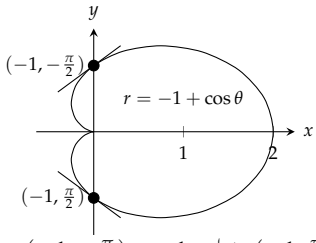

۲۸۸۸۶ $\left(-1, \frac{\pi}{2}\right)$ پر ڈھلوان -1 اور $\left(-1, -\frac{\pi}{2}\right)$ پر 1 ہے۔

(۱۰.۳۶۹۸۸۷

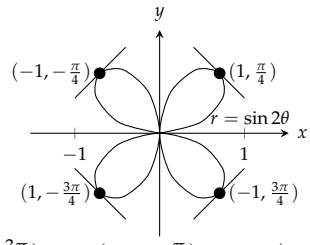

۲۸۸۸۸ $\left(1, \frac{\pi}{4}\right)$ پر -1 ، $\left(-1, -\frac{\pi}{4}\right)$ پر 1 ، $\left(1, \frac{3\pi}{4}\right)$

۲۸۸۸۹ ۱۰.۳۸۱) $(0,0), \left(1, \frac{\pi}{2}\right), \left(1, \frac{3\pi}{2}\right)$

۲۸۸۹۵ ۱۰.۳۸۳) $(0,0), \left(\sqrt{3}, \frac{\pi}{3}\right), \left(-\sqrt{3}, -\frac{\pi}{3}\right)$

۲۸۸۹۶ ۱۰.۳۸۵) $\left(\sqrt{2}, \pm\frac{\pi}{6}\right), \left(\sqrt{2}, \pm\frac{5\pi}{6}\right)$

۲۸۸۹۷ ۱۰.۳۸۷) $\left(1, \frac{\pi}{12}\right), \left(1, \frac{5\pi}{12}\right), \left(1, \frac{13\pi}{12}\right), \left(1, \frac{17\pi}{12}\right)$

۲۸۸۹۸ ۱۰.۳۹۳) الف

۲۸۸۹۹ ۱۰.۴۰۱) $2y = \frac{2\sqrt{6}}{9}$

۲۸۹۰۰ حصہ ۱۰.۸ صفحہ ۱۱۰۹

۲۸۹۰۱ ۱۰.۴۰۳) $r\cos\left(\theta - \frac{\pi}{6}\right) = 5, \quad y = -\sqrt{3}x + 10$

۲۸۹۰۲ ۱۰.۴۰۵) $r\cos\left(\theta - \frac{4\pi}{3}\right) = 3, \quad y = -\frac{\sqrt{3}}{3}x - 2\sqrt{3}$

۲۸۹۰۴ ۱۰.۴۰۷) $y = 2 - x$

۲۸۹۰۵ ۱۰.۴۰۹) $y = \frac{\sqrt{3}}{3}x + 2\sqrt{3}$

۲۸۹۰۶ ۱۰.۴۱۱) $r\cos\left(\theta - \frac{\pi}{4}\right) = 3$

۲۸۹۰۷ ۱۰.۴۱۳) $r\cos\left(\theta + \frac{\pi}{2}\right) = 5$

۲۸۹۰۸ ۱۰.۴۱۵) $r = 8\cos\theta$

۲۸۹۰۹ ۱۰.۴۱۷) $r = 2\sqrt{2}\sin\theta$

۲۸۹۱۰ (۱۰.۴۱۹) $C(2,0),\quad 2$

۲۸۹۱۱ (۱۰.۴۲۱) $C(1,\pi),\quad 1$

۲۸۹۱۲ (۱۰.۴۲۳) $r = 12\cos\theta$

۲۸۹۱۳ (۱۰.۴۲۵) $r = 10\sin\theta$

۲۸۹۱۴ (۱۰.۴۲۷) $(9x+1)^2 + y^2 = 1,\quad r = -2\cos\theta$ (ب) (۱۰.۴۲۹) $x^2 + (y+\frac{1}{2})^2 = \frac{1}{4},\quad r = -\sin\theta$

۲۸۹۱۵ (۱۰.۴۲۹)

۲۸۹۱۶ (۱۰.۴۳۱) $r = \frac{2}{1+\cos\theta}$

۲۸۹۱۷ (۱۰.۴۳۳) $r = \frac{30}{1-5\sin\theta}$

۲۸۹۱۸ (۱۰.۴۳۵) $r = \frac{1}{2+\cos\theta}$

۲۸۹۱۹ (۱۰.۴۳۷) $r = \frac{10}{5-\sin\theta}$

۲۸۹۲۰ (۱۰.۴۳۹)

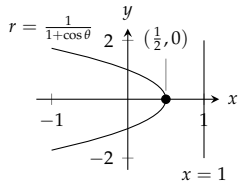

۲۸۹۲۱ (۱۰.۴۴۱)

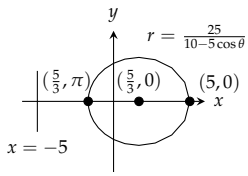

۲۸۹۲۲ (۱۰.۴۴۳)

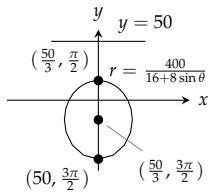

۲۸۹۲۳ (۱۰.۴۴۵)

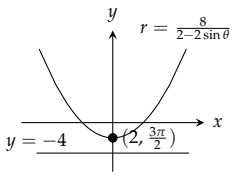

۲۸۹۲۴ (۱۰.۴۴۷)

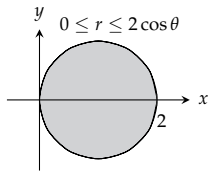

سیارہ	حضیض شمسی (فلکی اکائیاں)	اوج شمسی (فلکی اکائیاں)
عطارہ	0.3075	0.4667
زہرہ	0.7184	0.7282
زمین	0.9833	1.0167
مریخ	1.3817	1.6663
مشتری	4.9512	5.4548
زحل	9.0210	10.0570
یورانس	18.2977	20.0623
نیپچون	29.8135	30.3065
پلوٹو	29.6549	49.2251

۲۸۹۲۶ (۱۰.۴۶۱) (ا) $x = \sqrt{3},\ x^2 + (y-2)^2 = 4$، (ب)

۲۸۹۲۷

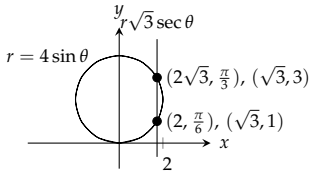

۲۸۹۲۸ (۱۰.۴۶۳) $r = \frac{4}{1+\cos\theta}$

۲۸۹۲۹ (۱۰.۴۶۵) (ب) پنیا 2 سنٹی میٹر دور ہونی چاہیے۔

۲۸۹۳۰ (۱۰.۴۶۷) $r = 2a\sin\theta$ دائرہ

۲۸۹۳۱ (۱۰.۴۶۹) $r\cos(\theta - \alpha) = p$ خط

۲۸۹۳۲ حصہ ۱۰.۹ صفحہ ۱۱۲۳

۲۸۹۳۳ (۱۰.۴۷۳) 18π

۲۸۹۳۴ (۱۰.۴۷۵) $\frac{\pi}{8}$

۲۸۹۳۵ (۱۰.۴۷۷) 2

۲۸۹۳۶ (۱۰.۴۷۹) $\frac{\pi}{2} - 1$

۲۸۹۳۷ (۱۰.۴۸۱) $5\pi - 8$

۲۸۹۳۸ (۱۰.۴۸۳) $3\sqrt{3} - \pi$

۲۸۹۳۹ (۱۰.۴۸۵) $\frac{\pi}{3} + \frac{\sqrt{3}}{2}$

۲۸۹۴۰ (۱۰.۴۸۷) $12\pi - 9\sqrt{3}$

۲۸۹۴۱ (۱۰.۴۸۹) $\frac{3}{2} - \frac{\pi}{4}$

۲۸۹۴۲ (۱۰.۴۹۱) $\frac{19}{3}$

۲۸۹۴۳ (۱۰.۴۹۳) 8

۲۸۹۴۴ (۱۰.۴۹۵) $3(\sqrt{2} + \ln(1+\sqrt{2}))$

۲۸۹۴۵ (۱۰.۴۹۷) $\frac{\pi}{8} + \frac{3}{8}$

۲۸۹۴۶ (۱۰.۴۹۹) 2π

۲۸۹۴۷ (۱۰.۵۰۱) $\pi\sqrt{2}$

۲۸۹۴۸ (۱۰.۵۰۳) $2\pi(2 - \sqrt{2})$

۲۸۹۴۹ (۱۰.۵۰۹) $(\frac{5}{6}a, 0)$

۲۸۹۵۰ حصہ ۱۱.۱ صفحہ ۱۱۳۷

۲۸۹۵۱ (۱۱.۱ (ا

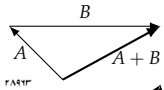

۲۸۹۵۲ (ب

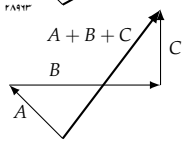

۲۸۹۵۳ (ج

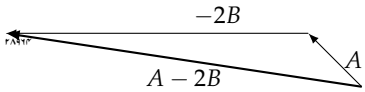

۲۸۹۵۴ (د

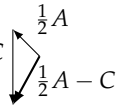

۲۸۹۵۵ (۱۱.۳ $4\boldsymbol{i}+5\boldsymbol{j}$

۲۸۹۵۶ (۱۱.۵ $(6-\frac{\sqrt{3}}{\pi})\boldsymbol{i}-20\boldsymbol{j}$

۲۸۹۵۷ (۱۱.۷ (ا $\boldsymbol{w}=\boldsymbol{v}+\boldsymbol{u}$ (ب $\boldsymbol{v}=\boldsymbol{w}-\boldsymbol{u}$

۲۸۹۵۸ (۱۱.۹

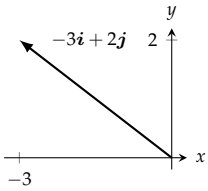

۲۸۹۵۹ (۱۱.۱۱

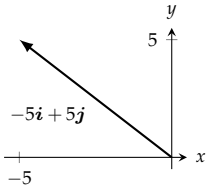

۲۸۹۶۰ (۱۱.۱۳

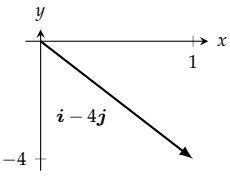

۲۸۹۶۱ (۱۱.۱۵

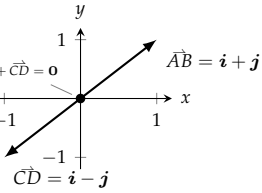

۲۸۹۶۲ (۱۱.۱۷ $(5,8)$

۲۸۹۶۳ (۱۱.۱۹

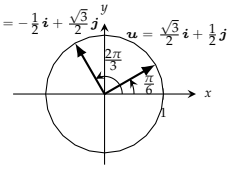

۲۸۹۶۴ (۱۱.۲۱

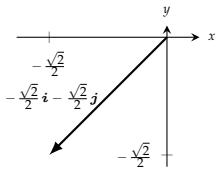

۲۸۹۶۵ (۱۱.۲۳ $\frac{3}{5}\boldsymbol{i}-\frac{4}{5}\boldsymbol{j}$

۲۸۹۶۶ (۱۱.۲۵ $\boldsymbol{u}=\frac{1}{\sqrt{17}}\boldsymbol{i}+\frac{4}{\sqrt{17}}\boldsymbol{j},$

۲۸۹۶۷ $-\boldsymbol{u}=-\frac{1}{\sqrt{17}}\boldsymbol{i}-\frac{4}{\sqrt{17}}\boldsymbol{j},$

۲۸۹۶۸ $\boldsymbol{n}=\frac{4}{\sqrt{17}}\boldsymbol{i}-\frac{1}{\sqrt{17}}\boldsymbol{j},$

۲۸۹۶۹ $-\boldsymbol{n}=-\frac{4}{\sqrt{17}}\boldsymbol{i}+\frac{1}{\sqrt{17}}\boldsymbol{j}$

۲۸۹۷۰

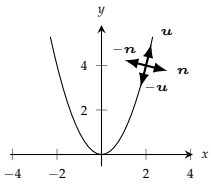

۲۸۹۷۱ (۱۱.۲۷ $\boldsymbol{u}=\frac{1}{\sqrt{5}}(2\boldsymbol{i}+\boldsymbol{j}),$

۲۸۹۷۲ $-\boldsymbol{u}=\frac{1}{\sqrt{5}}(-2\boldsymbol{i}-\boldsymbol{j}),$

۲۸۹۷۳ $\boldsymbol{n}=\frac{1}{\sqrt{5}}(-\boldsymbol{i}+2\boldsymbol{j}),$

۲۸۹۷۴ $-\boldsymbol{n}=\frac{1}{\sqrt{5}}(\boldsymbol{i}-2\boldsymbol{j}),$

۲۸۹۷۵

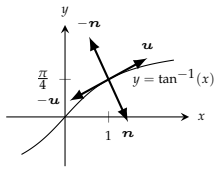

۲۸۹۷۶ (۱۱.۲۹ $\boldsymbol{u}=\pm\frac{1}{5}(-4\boldsymbol{i}+3\boldsymbol{j}),$

۲۸۹۷۷ $\boldsymbol{v}=\pm\frac{1}{5}(3\boldsymbol{i}+4\boldsymbol{j})$

۲۸۹۷۸ (۱۱.۳۱ $\boldsymbol{u}=\pm\frac{1}{2}(\boldsymbol{i}+\sqrt{3}\boldsymbol{j}),$

۲۸۹۷۹ $\boldsymbol{v}=\pm\frac{1}{2}(-\sqrt{3}\boldsymbol{i}+\boldsymbol{j})$

۲۸۹۸۰ (۱۱.۳۳ $13(\frac{5}{13}\boldsymbol{i}+\frac{12}{13}\boldsymbol{j})$

۲۸۹۸۱ (۱۱.۳۵ $\frac{3}{5}\boldsymbol{i}-\frac{4}{5}\boldsymbol{j},\quad -\frac{3}{5}\boldsymbol{i}+\frac{4}{5}\boldsymbol{j}$

۲۸۹۸۲ (۱۱.۳۹ $5\sqrt{3}\boldsymbol{i},\quad 5\boldsymbol{j}$

۲۸۹۸۳ ۱۱.۴۱) $\alpha = \frac{3}{2}, \quad \beta = \frac{1}{2}$ ۲۹۰۲۳

۲۸۹۸۴ ۱۱.۴۳) (ا) $(5\cos 60°, 5\sin 60°) = (\frac{5}{2}, \frac{5\sqrt{3}}{2})$

۲۸۹۸۵ (ب) $(5\cos 60 + 10\cos 315, 5\sin 60° +$

۲۸۹۸۶ $10\sin 315°) = (\frac{5+\sqrt{2}}{2}, \frac{5\sqrt{3}-10\sqrt{2}}{2})$ ۲۹۰۲۶

۲۸۹۸۷ ۱۱.۴۵) $\boldsymbol{v} = -a\boldsymbol{i} - b\boldsymbol{j}$ —کا ڈھلوان $\frac{(-b)}{(-a)}$ ہے۔ یہی $\boldsymbol{v}$ کا بھی ۲۹۰۲۸

۲۸۹۸۸ ڈھلوان ہے۔

۲۸۹۸۹ حصہ ۱۱.۲ صفحہ ۱۱۵۰

۲۸۹۹۰ ۱۱.۴۶) محور z کے متوازی نقطہ $(2,3,0)$ سے گزرتا ہوا خط۔

۲۸۹۹۱ ۱۱.۴۸) محور x ۲۹۰۳۳

۲۸۹۹۲ ۱۱.۵۰) مستوی xy میں دائرہ $x^2 + y^2 = 4$ ۲۹۰۳۴

۲۸۹۹۳ ۱۱.۵۲) مستوی xz میں دائرہ $x^2 + z^2 = 4$ ۲۹۰۳۵

۲۸۹۹۴ ۱۱.۵۴) مستوی yz میں دائرہ $y^2 + z^2 = 1$ ۲۹۰۳۶

۲۸۹۹۵ ۱۱.۵۶) مستوی xy میں دائرہ $x^2 + y^2 = 16$

۲۸۹۹۶ ۱۱.۵۸) (ا) مستوی xy کا ربع اول۔ (ب) مستوی xy کا ربع چہارم۔ ۲۹۰۳۷

۲۸۹۹۷ ۱۱.۶۰) (ا) رداس 1 کا گیند جس کا مرکز مبدا پر ہے۔ (ب) مبدا سے 1 اکائی سے ۲۹۰۳۸

۲۸۹۹۸ زیادہ دور تمام نقاط۔ ۲۹۰۳۹

۲۸۹۹۹ ۱۱.۶۲) (ا) رداس 1 کا نصف بالائی کرہ جس کا مرکز مبدا پر ہے۔ (ب) رداس 1 ۲۹۰۴۰

۲۹۰۰۰ کا نصف بالائی ٹھوس کرہ جس کا مرکز مبدا پر ہے۔ ۲۹۰۴۱

۲۹۰۰۱ ۱۱.۶۴) (ا) $x = 3$، (ب) $y = -1$، (ج) $z = -2$ ۲۹۰۴۲

۲۹۰۰۲ ۱۱.۶۶) (ا) $z = 1$، (ب) $x = 3$، (ج) $y = -1$ ۲۹۰۴۳

۲۹۰۰۳ ۱۱.۶۸) (ا) $x^2 + (y-2)^2 = 4, z = 0$، (ب) $(y$ ۲۹۰۴۴

۲۹۰۰۴ $-2)^2 + z^2 = 4, x = 0$، ۲۹۰۴۴

۲۹۰۰۵ (ج) $x^2 + z^2 = 4, y = 2$ ۲۹۰۴۵

۲۹۰۰۶ ۱۱.۷۰) (ا) $y = 3, z = -1$، (ب) $x = 1, z = -1$، ۲۹۰۴۶

۲۹۰۰۷ (ج) $x = 1, y = 3$

۲۹۰۰۸ ۱۱.۷۲) $x^2 + y^2 + z^2 = 25, z = 3$ ۲۹۰۴۷

۲۹۰۰۹ ۱۱.۷۴) $0 \le z \le 1$ ۲۹۰۴۸

۲۹۰۱۰ ۱۱.۷۶) $z \le 0$ ۲۹۰۴۹

۲۹۰۱۱ ۱۱.۷۸) (ا) $(x-1)^2 + (y-1)^2 + (z-1)^2 < 1$ ۲۹۰۵۰

۲۹۰۱۲ (ب) $(x-1)^2 + (y-1)^2 + (z-1)^2 > 1$ ۲۹۰۵۱

۲۹۰۱۳ ۱۱.۸۰) $3(\frac{2}{3}\boldsymbol{i} + \frac{1}{3}\boldsymbol{j} - \frac{2}{3}\boldsymbol{k})$ ۲۹۰۵۲

۲۹۰۱۴ ۱۱.۸۲) $9(\frac{1}{9}\boldsymbol{i} + \frac{4}{9}\boldsymbol{j} - \frac{8}{9}\boldsymbol{k})$ ۲۹۰۵۳

۲۹۰۱۵ ۱۱.۸۴) $5(\boldsymbol{k})$ ۲۹۰۵۴

۲۹۰۱۶ ۱۱.۸۶) $1(\frac{3}{5}\boldsymbol{i} + \frac{4}{5}\boldsymbol{k})$ ۲۹۰۵۵

۲۹۰۱۷ ۱۱.۸۸) $\sqrt{\frac{1}{2}}(\frac{1}{\sqrt{3}}\boldsymbol{i} - \frac{1}{\sqrt{3}}\boldsymbol{j} - \frac{1}{\sqrt{3}}\boldsymbol{k})$ ۲۹۰۵۶

۲۹۰۱۸ ۱۱.۹۰) (ا) $2\boldsymbol{i}$، (ب) $-\sqrt{3}\boldsymbol{k}$، (ج) $\frac{3}{10}\boldsymbol{j} + \frac{2}{5}\boldsymbol{k}$، (د) $6\boldsymbol{i}$ ۲۹۰۵۷

۲۹۰۱۹ $2\boldsymbol{j} + 3\boldsymbol{k}$ ۲۹۰۵۸

۲۹۰۲۰ ۱۱.۹۲) $\frac{7}{13}(12\boldsymbol{i} - 5\boldsymbol{k})$ ۲۹۰۵۹

۲۹۰۲۱ ۱۱.۹۴) $-\frac{10}{7}\boldsymbol{i} + \frac{15}{7}\boldsymbol{j} - \frac{30}{7}\boldsymbol{k}$ ۲۹۰۶۰

۲۹۰۲۲ ۱۱.۹۶) (ا) 3، (ب) $\frac{2}{3}\boldsymbol{i} + \frac{2}{3}\boldsymbol{j} - \frac{1}{3}\boldsymbol{k}$، (ج) $(2, 2, \frac{1}{2})$ ۲۹۰۶۱

۲۹۰۲۳ ۱۱.۹۸) (ا) 7، (ب) $\frac{3}{7}\boldsymbol{i} - \frac{6}{7}\boldsymbol{j} + \frac{2}{7}\boldsymbol{k}$، (ج) $(\frac{5}{2}, 1, 6)$

۲۹۰۲۴ ۱۱.۱۰۰) (ا) $2\sqrt{3}$، (ب) $\frac{1}{\sqrt{3}}\boldsymbol{i} - \frac{1}{\sqrt{3}}\boldsymbol{j} - \frac{1}{\sqrt{3}}\boldsymbol{k}$، (ج)

۲۹۰۲۵ $(1, -1, -1)$

۲۹۰۲۶ ۱۱.۱۰۲) $A(4, -3, 5)$

۲۹۰۲۷ ۱۱.۱۰۴) $C(-2, 0, 2), \quad a = 2\sqrt{2}$

۲۹۰۲۸ ۱۱.۱۰۶) $C(\sqrt{2}, \sqrt{2}, -\sqrt{2}), \quad a = \sqrt{2}$

۲۹۰۲۹ ۱۱.۱۰۸) $(x-1)^2 + (y-2)^2 + (z-3)^2 = 14$

۲۹۰۳۰ ۱۱.۱۱۰) $(x+2)^2 + y^2 + z^2 = 3$

۲۹۰۳۱ ۱۱.۱۱۲) $C(-2, 0, 2), \quad a = \sqrt{8}$

۲۹۰۳۲ ۱۱.۱۱۴) $C(-\frac{1}{4}, -\frac{1}{4}, -\frac{1}{4}), \quad a = \frac{5\sqrt{3}}{4}$

۲۹۰۳۳ ۱۱.۱۱۶) (ا) $\sqrt{y^2 + z^2}$، (ب) $\sqrt{x^2 + z^2}$، (ج)

۲۹۰۳۴ $\sqrt{x^2 + y^2}$

۲۹۰۳۵ ۱۱.۱۱۸) (ا) $\boldsymbol{i} + \boldsymbol{j} - 2\boldsymbol{k}$، (ب) $\frac{3}{2}\boldsymbol{i} + \frac{3}{2}\boldsymbol{j} - 3\boldsymbol{k}$، (ج)

۲۹۰۳۶ $(2, 2, 1)$

۲۹۰۳۷ حصہ ۱۱.۳ صفحہ ۱۱۶۲

۲۹۰۳۸ ۱۱.۱۲۳) (ا) $5, 5, -25$، (ب) -1، (ج) -5، (د) $-2\boldsymbol{i} +$

۲۹۰۳۹ $4\boldsymbol{j} - \sqrt{5}\boldsymbol{k}$

۲۹۰۴۰ ۱۱.۱۲۵) (ا) $5, 15, 25$، (ب) $\frac{1}{3}$، (ج) $\frac{5}{3}$، (د) $\frac{1}{9}(10\boldsymbol{i} +$

۲۹۰۴۱ $11\boldsymbol{j} - 2\boldsymbol{k})$

۲۹۰۴۲ ۱۱.۱۲۷) (ا) $0, \sqrt{53}$، (ب) 0، (ج) 0، (د) 0

۲۹۰۴۳ ۱۱.۱۲۹) (ا) $2, \sqrt{34}, \sqrt{3}$، (ب) $\frac{2}{\sqrt{3}\sqrt{34}}$، (ج) $\frac{2}{\sqrt{34}}$، (د)

۲۹۰۴۴ $\frac{1}{17}(5\boldsymbol{j} - 3\boldsymbol{k})$

۲۹۰۴۵ ۱۱.۱۳۱) (ا) $\sqrt{3} - \sqrt{2}, \sqrt{2}, 3$، (ب) $\frac{\sqrt{3}-\sqrt{2}}{3\sqrt{2}}$، (ج)

۲۹۰۴۶ $\frac{\sqrt{3}-\sqrt{2}}{\sqrt{2}}$، (د) $\frac{\sqrt{3}-\sqrt{2}}{2}(-\boldsymbol{i} + \boldsymbol{j})$

۲۹۰۴۷ ۱۱.۱۳۳) $(\frac{3}{2}\boldsymbol{i} + \frac{3}{2}\boldsymbol{j}) + (-\frac{3}{2}\boldsymbol{i} + \frac{3}{2}\boldsymbol{j} + 4\boldsymbol{k})$

۲۹۰۴۸ ۱۱.۱۳۵) $(\frac{14}{3}\boldsymbol{i} + \frac{28}{3}\boldsymbol{j} - \frac{14}{3}\boldsymbol{k}) + (\frac{10}{3}\boldsymbol{i} - \frac{16}{3}\boldsymbol{j} -$

۲۹۰۴۹ $\frac{22}{3}\boldsymbol{k})$

۲۹۰۵۰ ۱۱.۱۳۷) یکساں مقدار کے دو سمتیات کا مجموعہ اور تفریق ہر صورت ایک دوسرے

۲۹۰۵۱ کے عمودی ہوتے ہیں۔ یہ حقیقت درج ذیل سے واضح ہو گا۔

$$(\boldsymbol{v}_1 - \boldsymbol{v}_2) \cdot (\boldsymbol{v}_1 + \boldsymbol{v}_2) = \boldsymbol{v}_1 \cdot \boldsymbol{v}_1 + \boldsymbol{v}_1 \cdot \boldsymbol{v}_2 - \boldsymbol{v}_2 \cdot \boldsymbol{v}_1 - \boldsymbol{v}_2 \cdot \boldsymbol{v}_2 = |\boldsymbol{v}_1|^2 - |\boldsymbol{v}_2|^2$$

۲۹۰۵۲ ۱۱.۱۴۳) $\tan^{-1}\sqrt{2}$

۲۹۰۵۳ ۱۱.۱۴۵) 0.75 ریڈیئن

۲۹۰۵۴ ۱۱.۱۴۷) 1.77 ریڈیئن

۲۹۰۵۵ ۱۱.۱۴۹) $\angle A \approx 1.24, \angle B \approx 0.66, \angle C \approx 1.24$

۲۹۰۵۶ ۱۱.۱۵۱) 0.62 ریڈیئن

۲۹۰۵۷ ۱۱.۱۵۳) (ا) چونکہ $|\cos\theta| \le 1$ ہوتا ہے لہٰذا $|\boldsymbol{u} \cdot \boldsymbol{v}| =$

۲۹۰۵۸ $|\boldsymbol{u}||\boldsymbol{v}||\cos\theta| \le |\boldsymbol{u}||\boldsymbol{v}|$ (1) $= |\boldsymbol{u}||\boldsymbol{v}|$ ہو

۲۹۰۵۹ گا۔ (ب) جب $|\cos\theta| = 1$ ہو یا $\boldsymbol{u}$ اور $\boldsymbol{v}$ میں سے ایک یا

۲۹۰۶۳ دونوں صفر ہوں۔ غیر صفر سمتیات کی صورت میں مساوات تب درست
۲۹۰۶۴ ہوگا جب سمتیات متوازی ہوں یعنی جب $\theta = 0$ یا $\theta = \pi$ ۔ θ
۲۹۰۶۵ ہو۔

۲۹۰۶۶ (۱۱.۱۵۵) a

۲۹۰۶۷ (۱۱.۱۵۷) (ا) $\sqrt{70}$، (ب) $\sqrt{568}$

۲۹۰۶۸ (۱۱.۱۵۹) $5\,\mathrm{J}$

۲۹۰۶۹ (۱۱.۱۶۱) $3464.10\,\mathrm{J}$

۲۹۰۷۰ (۱۱.۱۶۵) $x + 2y = 4$

۲۹۰۷۱

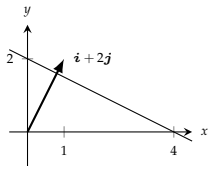

۲۹۰۷۲ (۱۱.۱۶۷) $-2x + y = -3$

۲۹۰۷۳

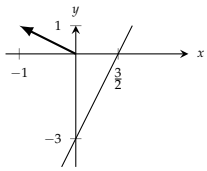

۲۹۰۷۴ (۱۱.۱۶۹) $x + y = -1$

۲۹۰۷۵

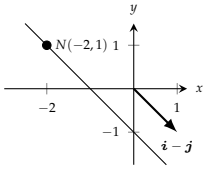

۲۹۰۷۶ (۱۱.۱۷۱) $2x - y = 0$

۲۹۰۷۷

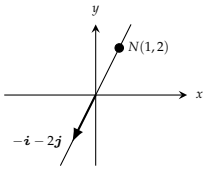

۲۹۰۷۸ (۱۱.۱۷۳) $\frac{\pi}{4}$

۲۹۰۷۹ (۱۱.۱۷۵) $\frac{\pi}{6}$

۲۹۰۸۰ (۱۱.۱۷۷) 0.14

۲۹۰۸۱ (۱۱.۱۷۹) $\frac{\pi}{3}$ اور $\frac{2\pi}{3}$ دونوں نقطوں پر۔

۲۹۰۸۲ (۱۱.۱۸۱) نقطہ $(0,0)$ پر $\frac{\pi}{2}$؛ نقطہ $(1,1)$ پر $\frac{\pi}{4}$ اور $\frac{3\pi}{4}$

۲۹۰۸۳ حصہ ۱۱.۴ صفحہ ۱۱۷۵

۲۹۰۸۴ (۱۱.۱۸۳) $|\boldsymbol{A} \times \boldsymbol{B}| = 3$، رخ $\frac{2}{3}\boldsymbol{i} + \frac{1}{3}\boldsymbol{j} + \frac{2}{3}\boldsymbol{k}$؛
۲۹۰۸۵ $|\boldsymbol{B} \times \boldsymbol{A}| = 3$، رخ $-\frac{2}{3}\boldsymbol{i} - \frac{1}{3}\boldsymbol{j} - \frac{2}{3}\boldsymbol{k}$

۲۹۰۸۶ (۱۱.۱۸۵) $|\boldsymbol{A} \times \boldsymbol{B}| = 0$، کوئی رخ نہیں ہے؛ $|\boldsymbol{B} \times \boldsymbol{A}| = 0$
۲۹۰۸۷ کوئی رخ نہیں ہے۔

۲۹۰۸۸ (۱۱.۱۸۷) $|\boldsymbol{A} \times \boldsymbol{B}| = 6$، رخ $-\boldsymbol{k}$ ؛
۲۹۰۸۹ $|\boldsymbol{B} \times \boldsymbol{A}| = 6$، رخ $\boldsymbol{k}$

۲۹۰۹۰ (۱۱.۱۸۹) $|\boldsymbol{A} \times \boldsymbol{B}| = 6\sqrt{5}$، رخ $\frac{1}{\sqrt{5}}\boldsymbol{i} - \frac{2}{\sqrt{5}}\boldsymbol{k}$ ؛
۲۹۰۹۱ $|\boldsymbol{B} \times \boldsymbol{A}| = 6\sqrt{5}$، رخ $-\frac{1}{\sqrt{5}}\boldsymbol{i} + \frac{2}{\sqrt{5}}\boldsymbol{k}$

۲۹۰۹۲ (۱۱.۱۹۱)

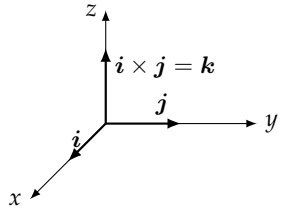

۲۹۰۹۳ (۱۱.۱۹۳)

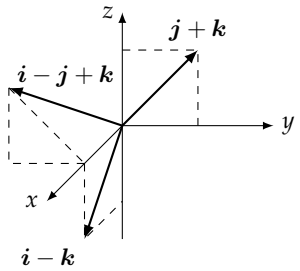

۲۹۰۹۴ (۱۱.۱۹۵)

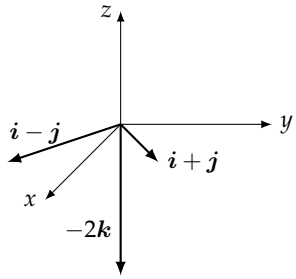

۲۹۰۹۵ (۱۱.۱۹۷) (ا) $2\sqrt{6}$، (ب) $\pm\frac{1}{\sqrt{6}}(2\boldsymbol{i} + \boldsymbol{j} + \boldsymbol{k})$

۲۹۰۹۶ (۱۱.۱۹۹) (ا) $\frac{\sqrt{2}}{2}$، (ب) $\pm\frac{1}{\sqrt{2}}(\boldsymbol{i} - \boldsymbol{j})$

۲۹۰۹۷ (۱۱.۲۰۱) (ا) نہیں (ب) $\boldsymbol{A}$ اور $\boldsymbol{C}$

۲۹۰۹۸ (۱۱.۲۰۳) $4\sqrt{3}\,\mathrm{N\,m}$

۲۹۰۹۹ (۱۱.۲۰۵) 8

۲۹۱۰۰ (۱۱.۲۰۷) 7

۲۹۱۰۱ (۱۱.۲۰۹) (ا) درست، (ب) بعض اوقات درست، (ج) درست، (د) درست،
۲۹۱۰۲ (ہ) بعض اوقات درست، (و) درست، (ز) درست، (ح) درست

۲۹۱۰۳ (۱۱.۲۱۱) (ا) $\mathrm{proj}_{\boldsymbol{B}}\,\boldsymbol{A} = \frac{\boldsymbol{A}\cdot\boldsymbol{B}}{\boldsymbol{B}\cdot\boldsymbol{B}}\boldsymbol{B}$، (ب) $\pm\boldsymbol{A} \times \boldsymbol{B}$ ،
۲۹۱۰۴ (ج) $\pm(\boldsymbol{A} \times \boldsymbol{B}) \times \boldsymbol{C}$، (د) $\left|(\boldsymbol{A} \times \boldsymbol{B}) \cdot \boldsymbol{C}\right|$

۲۹۱۰۵ (۱۱.۲۱۳) (ا) ہاں، (ب) نہیں، (ج) ہاں، (د) نہیں

۲۹۱۰۶ (۱۱.۲۱۵) (ا) نہیں۔ ضروری نہیں کہ $\boldsymbol{B}$ اور $\boldsymbol{C}$ برابر ہوں۔ مثال کے طور پر

۲۹۱۰۷ $\boldsymbol{i}+\boldsymbol{j} \neq -\boldsymbol{i}+\boldsymbol{j}$ ہے لیکن

$$\boldsymbol{i}\times(\boldsymbol{i}+\boldsymbol{j}) = \boldsymbol{i}\times\boldsymbol{i}+\boldsymbol{i}\times\boldsymbol{j} = \boldsymbol{0}+\boldsymbol{k} = \boldsymbol{k}$$

$$\boldsymbol{i}\times(-\boldsymbol{i}+\boldsymbol{j}) = -\boldsymbol{i}\times\boldsymbol{i}+\boldsymbol{i}\times\boldsymbol{j} = \boldsymbol{0}+\boldsymbol{k} = \boldsymbol{k}$$

۲۹۱۰۸ (۱۱.۲۱۷) 2

۲۹۱۰۹ (۱۱.۲۱۹) 13

۲۹۱۱۰ (۱۱.۲۲۱) $\frac{11}{2}$

۲۹۱۱۱ (۱۱.۲۲۳) $\frac{25}{2}$

۲۹۱۱۲ (۱۱.۲۲۵) اگر $\boldsymbol{A} = a_1\boldsymbol{i}+a_2\boldsymbol{j}$ اور $\boldsymbol{B} = b_1\boldsymbol{i}+b_2\boldsymbol{j}$

۲۹۱۱۳ ہوں تب

۲۹۱۱۴

$$\boldsymbol{A}\times\boldsymbol{B} = \begin{vmatrix} \boldsymbol{i} & \boldsymbol{j} & \boldsymbol{k} \\ a_1 & a_2 & 0 \\ b_1 & b_2 & 0 \end{vmatrix} = \begin{vmatrix} a_1 & a_2 \\ b_1 & b_2 \end{vmatrix}\boldsymbol{k}$$

۲۹۱۱۵ ہوگا لہٰذا مثلث کا رقبہ درج ذیل ہوگا۔

۲۹۱۱۶

$$\frac{1}{2}|\boldsymbol{A}\times\boldsymbol{B}| = \begin{vmatrix} \boldsymbol{i} & \boldsymbol{j} & \boldsymbol{k} \\ a_1 & a_2 & 0 \\ b_1 & b_2 & 0 \end{vmatrix} = \pm\frac{1}{2}\begin{vmatrix} a_1 & a_2 \\ b_1 & b_2 \end{vmatrix}$$

۲۹۱۱۷

۲۹۱۱۸ اگر xy مستوی میں گھڑی کے الٹ رخ $\boldsymbol{A}$ سے $\boldsymbol{B}$ چلتے ہوئے

۲۹۱۱۹ زاویہ حادہ ہو تب $(+)$ علامت جبکہ گھڑی کے رخ چلتے ہوئے زاویہ

۲۹۱۲۰ حادہ ہونے کی صورت میں $(-)$ علامت استعمال ہوگی۔

۲۹۱۲۱

۲۹۱۲۲ حصہ ۱۱.۵ صفحہ ۱۱۸۶

۲۹۱۲۳ (۱۱.۲۲۷) $x = 3+t,\ y = -4+t,\ z = -1+t$

۲۹۱۲۴ (۱۱.۲۲۹) $x = -2+5t,\ y = 5t,\ z = 3-5t$

۲۹۱۲۵ (۱۱.۲۳۱) $x = 0,\ y = 2t,\ z = t$

۲۹۱۲۶ (۱۱.۲۳۳) $x = 1,\ y = 1,\ z = 1+t$

۲۹۱۲۷ (۱۱.۲۳۵) $x = t,\ y = -7+2t,\ z = 2t$

۲۹۱۲۸ (۱۱.۲۳۷) $x = t,\ y = 0,\ z = 0$

۲۹۱۲۹ (۱۱.۲۳۹) $x = t,\ y = t,\ z = 3/2t,\ 0 \le t \le 1$

۲۹۱۳۰

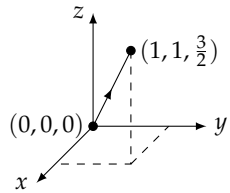

۲۹۱۳۱

۲۹۱۳۲ (۱۱.۲۴۱) $x = 1,\ y = 1+t,\ z = 0,\ -1 \le t \le 0$

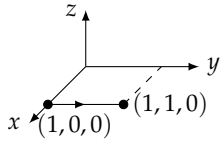

۲۹۱۳۳ (۱۱.۲۴۳) $x = 0,\ y = 1-2t,\ z = 1,\ 0 \le t \le 1$

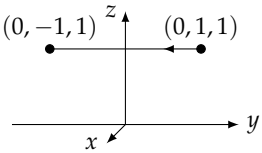

۲۹۱۳۴ (۱۱.۲۴۵) $x = 2-2t,\ y = 2t,\ z = 2-2t,\ 0 \le t \le 1$

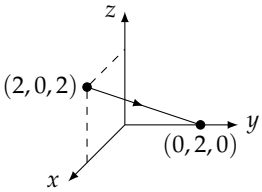

۲۹۱۳۵ (۱۱.۲۴۷) $3x-2y-z = -3$

۲۹۱۳۶ (۱۱.۲۴۹) $7x-5y-4z = 6$

۲۹۱۳۷ (۱۱.۲۵۱) $x+3y+4z = 34$

۲۹۱۳۸ (۱۱.۲۵۳) $(1,2,3),\ -20x+12y+z = 7$

۲۹۱۳۹ (۱۱.۲۵۵) $y+z = 3$

۲۹۱۴۰ (۱۱.۲۵۷) $x-y+z = 0$

۲۹۱۴۱ (۱۱.۲۵۹) $2\sqrt{30}$

۲۹۱۴۲ (۱۱.۲۶۱) 0

۲۹۱۴۳ (۱۱.۲۶۳) $\frac{9\sqrt{42}}{7}$

۲۹۱۴۴ (۱۱.۲۶۵) 3

۲۹۱۴۵ (۱۱.۲۶۷) $19/5$

۲۹۱۴۶ (۱۱.۲۶۹) $5/3$

۲۹۱۴۷ (۱۱.۲۷۱) $9/\sqrt{41}$

۲۹۱۴۸ (۱۱.۲۷۳) $\pi/4$

۲۹۱۴۹ (۱۱.۲۷۵) 1.76 ریڈین

۲۹۱۵۰ (۱۱.۲۷۷) 0.82 ریڈین

۲۹۱۵۱ (۱۱.۲۷۹) $(3/2, -3/2, 1/2)$

۲۹۱۵۲ (۱۱.۲۸۱) $(1,1,0)$

۲۹۱۵۳ (۱۱.۲۸۳) $x = 1-t,\ y = 1+t,\ z = -1$

۲۹۱۵۴ (۱۱.۲۸۵) $x = 4,\ y = 3+6t,\ z = 1+3t$

۱۱.۲۸۷) L_1 اور L_2 متقاطع ہیں؛ L_2 اور L_3 متوازی ہیں؛ L_1 اور L_3 غیر ہمسطحی ہیں۔

۱۱.۲۸۹) $x = 2 + 2t,\ y = -4 - t,\ z = 7 + 3t;\ x = -2 - t,\ y = -2 + t/2,\ z = 1 - 3/2t$

۱۱.۲۹۱) $(0, -\frac{1}{2}, -\frac{3}{2}),\ (-1, 0, -3),\ (1, -1, 0)$

۱۱.۲۹۵) بہت سارے مختلف جوابات ممکن ہیں۔ ان میں سے ایک جواب ہے:

$$x + y = 3,\ 2y + z = 7$$

۱۱.۲۹۷) ماسوائے ان سطحوں کے جو مبدا سے گزرتے ہوں یا جو محددی محوروں کے متوازی ہوں تمام سطحوں کو $x/a + y/b + z/c = 1$ سے ظاہر کیا جا سکتا ہے۔

حصہ ۱۱.۶ صفحہ ۱۲۰۰

۱۱.۳۰۱) شکل ۱۱.۶۰ب

۱۱.۳۰۳) شکل ۱۱.۶۰ي

۱۱.۳۰۵) شکل ۱۱.۶۰ج

۱۱.۳۰۷) شکل ۱۱.۶۰ھ

۱۱.۳۰۹) شکل ۱۱.۶۰ح

۱۱.۳۱۱) شکل ۱۱.۶۰ط

۱۱.۳۱۳) $x^2 + y^2 = 4$

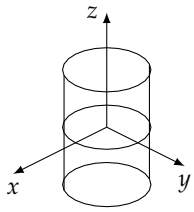

۱۱.۳۱۵) $z = y^2 - 1$

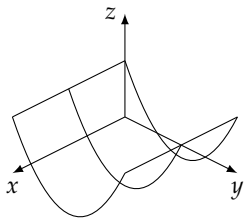

۱۱.۳۱۷) $x^2 + 4z^2 = 16$

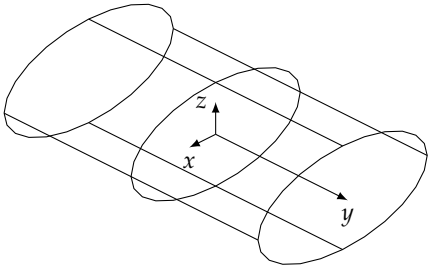

۱۱.۳۱۹) $z^2 - y^2 = 1$

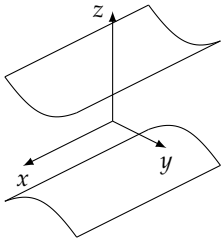

۱۱.۳۲۱) $9x^2 + y^2 + z^2 = 9$

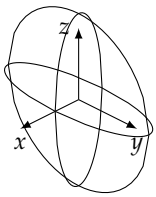

۱۱.۳۲۳) $4x^2 + 9y^2 + 4z^2 = 36$

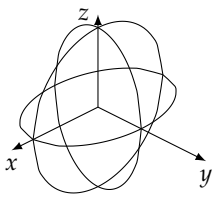

۱۱.۳۲۵) $z = x^2 + 4y^2$

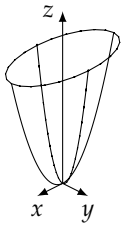

۲۹۱۸۷ $z = 8 - x^2 - y^2$ (۱۱.۳۲۷

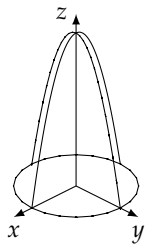

۲۹۱۸۸

۲۹۱۸۹ $x = 4 - 4y^2 - z^2$ (۱۱.۳۲۹

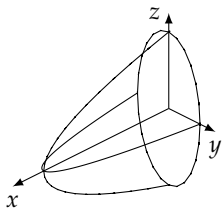

۲۹۱۹۰

۲۹۱۹۱ $x^2 + y^2 = z^2$ (۱۱.۳۳۱

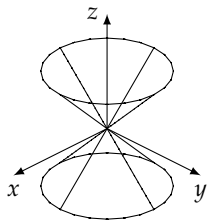

۲۹۱۹۲

۲۹۱۹۳ $4x^2 + 9z^2 = 9y^2$ (۱۱.۳۳۳

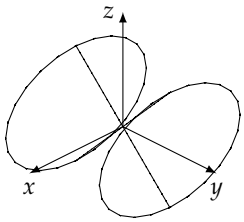

۲۹۱۹۴

۲۹۱۹۵ $x^2 + y^2 - z^2 = 1$ (۱۱.۳۳۵

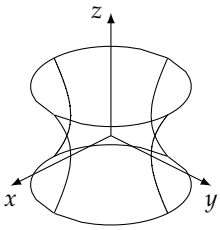

۲۹۱۹۶

۲۹۱۹۷ $\frac{y^2}{4} + \frac{z^2}{9} - \frac{x^2}{4} = 1$ (۱۱.۳۳۷

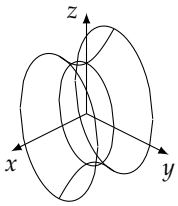

۲۹۱۹۸

۲۹۱۹۹ $z^2 - x^2 - y^2 = 1$ (۱۱.۳۳۹

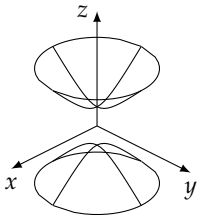

۲۹۲۰۰

۲۹۲۰۱ $x^2 - y^2 - \frac{z^2}{4} = 1$ (۱۱.۳۴۱

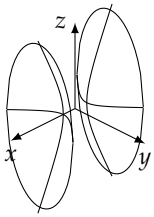

۲۹۲۰۲

۲۹۲۰۳ $y^2 - x^2 = z$ (۱۱.۳۴۳

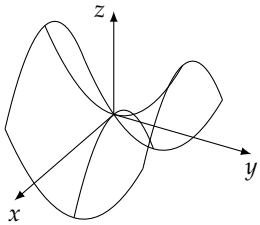

۲۹۲۰۴

۲۹۲۰۵ $x^2 + y^2 + z^2 = 4$ (۱۱.۳۴۵

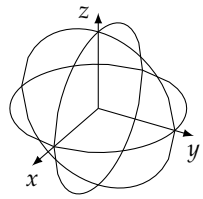

۲۹۲۰۶

۲۹۲۰۷ $z = 1 + y^2 - x^2$ (۱۱.۳۴۷

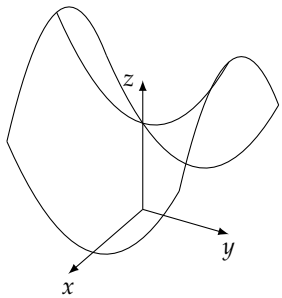

۲۹۲۰۸

۲۹۲۰۹ $y = -x^2 - z^2$ (۱۱.۳۴۹

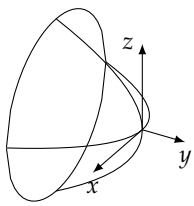

۲۹۲۱۰

۲۹۲۱۱ $16x^2 + 4y^2 = 1$ (۱۱.۳۵۱

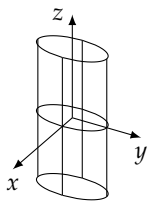

۲۹۲۱۲

۲۹۲۱۳ $x^2 + y^2 - z^2 = 4$ (۱۱.۳۵۳

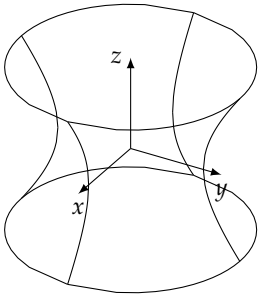

۲۹۲۱۴

۲۹۲۱۵ $x^2 + z^2 = y$ (۱۱.۳۵۵

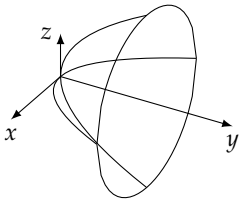

۲۹۲۱۶

۲۹۲۱۷ $x^2 + z^2 = 1$ (۱۱.۳۵۷

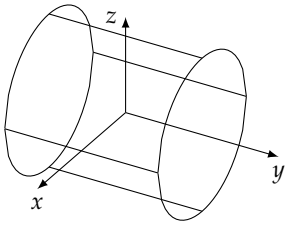

۲۹۲۱۸

۲۹۲۱۹ $16y^2 + 9z^2 = 4x^2$ (۱۱.۳۵۹

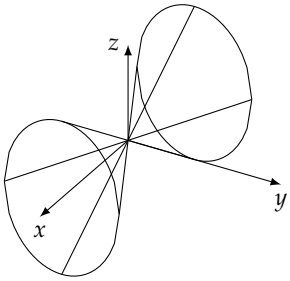

۲۹۲۲۰

۲۹۲۲۱ $9x^2 + 4y^2 + z^2 = 36$ (۱۱.۳۶۱

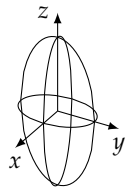

۲۹۲۲۲

۲۹۲۲۳ (۱۱.۳۶۳) $x^2 + y^2 - 16z^2 = 16$

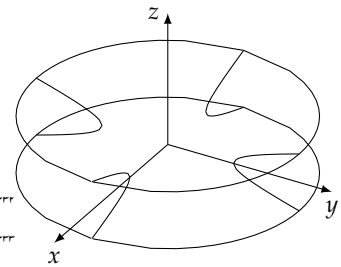

۲۹۲۲۴

۲۹۲۲۵ (۱۱.۳۶۵) $z = -x^2 - y^2$

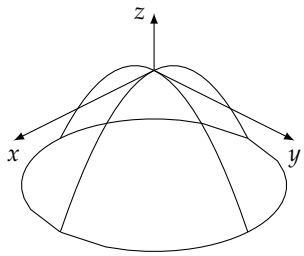

۲۹۲۲۶

۲۹۲۲۷ (۱۱.۳۶۷) $x^2 - 4y^2 = 1$

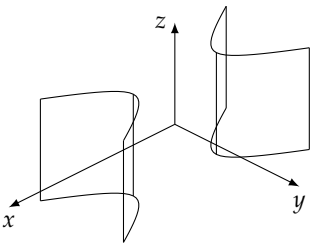

۲۹۲۲۸

۲۹۲۲۹ (۱۱.۳۶۹) $4y^2 + z^2 - 4x^2 = 4$

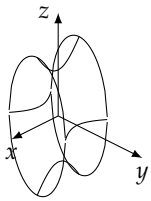

۲۹۲۳۰

۲۹۲۳۱ (۱۱.۳۷۱) $x^2 + y^2 = z$

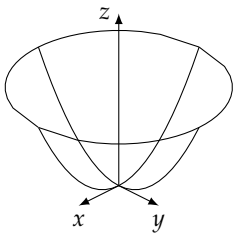

۲۹۲۳۲

۲۹۲۳۳ (۱۱.۳۷۳) $yz = 1$

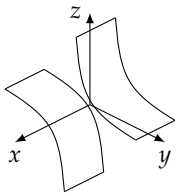

۲۹۲۳۴

۲۹۲۳۵ (۱۱.۳۷۵) $9x^2 + 16y^2 = 4z^2$

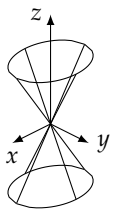

۲۹۲۳۶

۲۹۲۳۷ (۱۱.۳۷۷) (ا) $\frac{2\pi(9-c^2)}{9}$، (ب) 8π، (ج) $\frac{4\pi abc}{3}$

۲۹۲۳۸ (۱۱.۳۸۱) راس $(0, y_1, cy_1^2/b^2 2)$،

۲۹۲۳۹ ماسکہ $(0, y_1, cy_1^2/b^2 - a^2/(4c))$

۲۹۲۴۰ حصہ ۱۱.۷ صفحہ ۱۲۱۳

۲۹۲۴۱ (۱۱.۳۹۵) تکلی $(0,0,0)$، کروی $(0,0,0)$

۲۹۲۴۲ (۱۱.۳۹۷) تکلی $(1, \pi/2, 0)$، کروی $(1, \pi/2, \pi/2)$

۲۹۲۴۳ (۱۱.۳۹۹) کارتیسی $(1,0,0)$، کروی $(1, \pi/2, 0)$

۲۹۲۴۴ (۱۱.۴۰۱) کارتیسی $(0,1,1)$، کروی $(\sqrt{2}, \pi/4, \pi/2)$

۱۱.۴۰۳) کارتیسی $(0,-2\sqrt{2},0)$ ، نلکی $(2\sqrt{2},3\pi/2,0)$

۱۱.۴۰۵) $x^2+y^2=0$ ، $\phi=0$ یا $\phi=\pi$ یعنی محور z

۱۱.۴۰۷) $z=0$ ، $\theta=\pi/2$ ، مستوی xy

۱۱.۴۰۹) $z=\rho$ ، $0\le\rho\le1$ ؛ $\theta=\pi/4$ ، $0\le r\le\sqrt{2}$ ؛ایک محدود تر خیم

۱۱.۴۱۱) $x=0$ ، $\phi=\pi/2$ ، مستوی yz

۱۱.۴۱۳) $\rho^2+z^2=4$ ، $r=2$ ؛رداس 2 کا کرہ جس کا مرکز مبدا پر ہے۔

۱۱.۴۱۵) $x^2+y^2+(z-5/2)^2=25/4$ ، $\rho^2+z^2=5z$ ،رداس $5/2$ کا کرہ جس کا مرکز $(0,0,5/2)$ (کارتیسی) ہے۔

۱۱.۴۱۷) $y=1$ ، $r\sin\theta\sin\phi=1$ ، مستوی $y=1$

۱۱.۴۱۹) $z=\sqrt{2}$ ، $z=\sqrt{2}$ سطح

۱۱.۴۲۱) $\rho^2+z^2=2z$ ، $z\le1$ ؛ $r=2\cos\theta$ ، $\pi/4\le\theta\le\pi/2$ ؛نچلا نصف کرہ جس کا رداس 1 اور مرکز $(0,0,1)$ (کارتیسی) ہے۔

۱۱.۴۲۳) $x^2+y^2+z^2=9$ ، $-3/2\le z\le3/2$ ؛ $\rho^2+z^2=9$ ، $-3/2\le z\le3/2$ ،رداس 3 کے کرہ کا وہ حصہ جو سطح $z=-3/2$ اور سطح $z=3/2$ کے بیچ ہے۔ کرہ کا مرکز مبدا پر ہے۔

۱۱.۴۲۵) $z=4-4(x^2+y^2)$ ، $0\le z\le4$ ؛ $r\cos\theta=4-4r^2\sin^2\theta$ ، $0\le\theta\le\pi/2$ ، قطع مکافی سطح $z=4-4(x^2+y^2)$ کا بالائی حصہ جس کو مستوی xy کاٹتا ہے۔

۱۱.۴۲۷) $z=-\sqrt{x^2+y^2}$ ، $-1\le z\le0$ ؛ $z=-\rho$ ، $0\le\rho\le1$ ، ترخیم جس کا راس مبدا پر ہے، اس کا قاعدہ، مستوی $z=-1$ میں دائرہ $x^2+y^2=1$ ہے،

۱۱.۴۲۹) $z=0$ یا $z=x^2-y^2$ ؛ $\cos\theta+r\sin^2\theta\cos2\phi=0$ ، قطع زائد قطع مکافی سطح

۱۱.۴۳۱) $(2,3,1)$

۱۱.۴۳۳) مستوی $\rho\phi$ میں دائرہ $\rho=-2\sin\phi$ کا پیدا کردہ، محور z کا متوازی قائمہ دائری بیلن۔

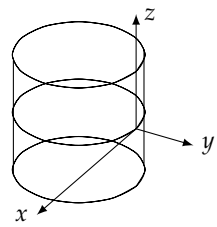

۱۱.۴۳۵) محور z کے متوازی لکیروں کی پیدا کردہ نلکی جس کو مستوی $\rho\phi$ میں قلب نما $\rho=1-\cos\phi$ پیدا کرتا ہے۔

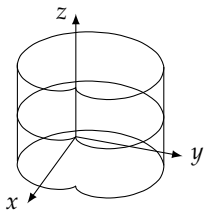

۱۱.۴۳۷) سطح طواف قلب نما جو محور y کے لحاض سے تشاکلی ہے۔ مبدا پر کنگرہ نیچے رخ ہے۔

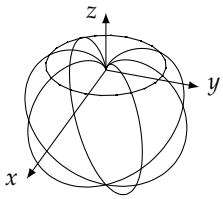

۱۱.۴۳۹) (ب) $\theta=\pi/2$

۱۱.۴۴۳) سطح کی مساوات $\rho=f(z)$ ہمیں بتاتی ہے کہ نقطہ $(\rho,\phi,z)=(f(z),\phi,z)$ تمام ϕ کے لئے سطح پر واقع ہو گا۔ بالخصوص جس بھی $(f(z),\phi,z)$ اس سطح پر پایا جاتا ہو اس وقت $(f(z),\phi+\pi,z)$ بھی اس سطح پر پایا جائے گا لہٰذا محور z کے لحاض سے یہ سطح تشاکلی ہے۔

حصہ ۱۲.۱ صفحہ ۱۲۲۹

۱۲.۱) $y=x^2-2x,\ \boldsymbol{v}=\boldsymbol{i}+2\boldsymbol{j},\ \boldsymbol{a}=2\boldsymbol{j}$

۱۲.۳) $y=\frac{2}{9}x^2,\ \boldsymbol{v}=3\boldsymbol{i}+4\boldsymbol{j},\ \boldsymbol{a}=3\boldsymbol{i}+8\boldsymbol{j}$

۱۲.۵) $t=\frac{\pi}{4}:\ \boldsymbol{v}=\frac{\sqrt{2}}{2}\boldsymbol{i}-\frac{\sqrt{2}}{2}\boldsymbol{j},\ \boldsymbol{a}=-\frac{\sqrt{2}}{2}\boldsymbol{i}-\frac{\sqrt{2}}{2}\boldsymbol{j};\ t=\frac{\pi}{2}:\ \boldsymbol{v}=-\boldsymbol{j},\ \boldsymbol{a}=-\boldsymbol{i}$

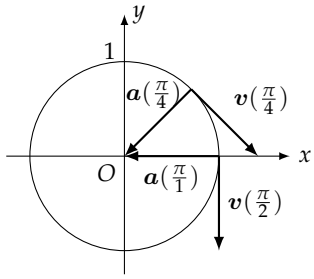

(۱۲.۷ $t = \pi$: $\boldsymbol{v} = 2\boldsymbol{i}$, $\boldsymbol{a} = -\boldsymbol{j}$; $t = \frac{3\pi}{2}$: $\boldsymbol{v} = \boldsymbol{i} - \boldsymbol{j}$, $\boldsymbol{a} = -\boldsymbol{i}$

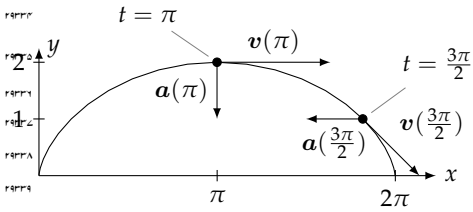

(۱۲.۹ $\boldsymbol{v} = \boldsymbol{i} + 2t\boldsymbol{j} + 2\boldsymbol{k}$; $\boldsymbol{a} = 2\boldsymbol{j}$; رفتار 3; رخ $\frac{1}{3}\boldsymbol{i} + \frac{2}{3}\boldsymbol{j} + \frac{2}{3}\boldsymbol{k}$; $\boldsymbol{v}(1) = 3(\frac{1}{3}\boldsymbol{i} + \frac{2}{3}\boldsymbol{j} + \frac{2}{3}\boldsymbol{k})$

(۱۲.۱۱ $\boldsymbol{v} = (-2\sin t)\boldsymbol{i} + (3\cos t)\boldsymbol{j} + 4\boldsymbol{k}$; $\boldsymbol{a} = (-2\cos t)\boldsymbol{i} - (3\sin t)\boldsymbol{j}$; رفتار $2\sqrt{5}$; رخ $\frac{-1}{\sqrt{5}}\boldsymbol{i} + \frac{2}{\sqrt{5}}\boldsymbol{k}$; $\boldsymbol{v}(\pi/2) = 2\sqrt{5}[-\frac{1}{\sqrt{5}}\boldsymbol{i} + \frac{2}{\sqrt{5}}\boldsymbol{k}]$

(۱۲.۱۳ $\boldsymbol{v} = (\frac{2}{t+1})\boldsymbol{i} + 2t\boldsymbol{j} + t\boldsymbol{k}$; $\boldsymbol{a} = \frac{-2}{(t+1)^2}\boldsymbol{i} + 2\boldsymbol{j} + \boldsymbol{k}$; رفتار $\sqrt{6}$; رخ $\frac{1}{\sqrt{6}}\boldsymbol{i} + \frac{2}{\sqrt{6}}\boldsymbol{j} + \frac{1}{\sqrt{6}}\boldsymbol{k}$; $\boldsymbol{v}(1) = \sqrt{6}(\frac{1}{\sqrt{6}}\boldsymbol{i} + \frac{2}{\sqrt{6}}\boldsymbol{j} + \frac{1}{\sqrt{6}}\boldsymbol{k})$

(۱۲.۱۵ $\frac{\pi}{2}$

(۱۲.۱۷ $\frac{\pi}{2}$

(۱۲.۱۹ $t = 0, \pi, 2\pi$

(۱۲.۲۱ $\frac{1}{4}\boldsymbol{i} + 7\boldsymbol{j} + \frac{3}{2}\boldsymbol{k}$

(۱۲.۲۳ $\frac{\pi+2\sqrt{2}}{2}\boldsymbol{j} + 2\boldsymbol{k}$

(۱۲.۲۵ $(\ln 4)\boldsymbol{i} + (\ln 4)\boldsymbol{j} + (\ln 2)\boldsymbol{k}$

(۱۲.۲۷ $\boldsymbol{r}(t) = (\frac{-t^2}{2} + 1)\boldsymbol{i} + (\frac{-t^2}{2} + 2)\boldsymbol{j} + (\frac{-t^2}{2} + 3)\boldsymbol{k}$

(۱۲.۲۹ $\boldsymbol{r}(t) = ((t+1)^{3/2} - 1)\boldsymbol{i} + (-e^{-t} + 1)\boldsymbol{j} + (\ln(t+1) + 1)\boldsymbol{k}$

(۱۲.۳۱ $\boldsymbol{r}(t) = 8t\boldsymbol{i} + 8t\boldsymbol{j} + (-16t^2 + 100)\boldsymbol{k}$

(۱۲.۳۳ $x = t$, $y = -1$, $z = 1 + t$

(۱۲.۳۵ $x = at$, $y = a$, $z = 2\pi b + bt$

(۱۲.۳۷ ا)(1)مستقل رفتار 1 (2)جی ہاں(3)گھڑی کے مخالف رخ(4)جی ہاں

ب)(1)مستقل رفتار 2 (2)جی ہاں(3)گھڑی کے مخالف رخ(4) جی ہاں

ج)(1)مستقل رفتار 1 (2)جی ہاں(3)گھڑی کے مخالف رخ(4)یہ $(1, 0)$ کے بجائے $(0, -1)$ سے ابتدا کرتا ہے

د)(1)مستقل رفتار 1 (2)جی ہاں(3)گھڑی کے رخ(4)جی ہاں

ہ)(1)متغیر رفتار(2)نہیں(3)گھڑی کے مخالف رخ(4)جی ہاں

(۱۲.۳۹ $\boldsymbol{r}(t) = (\frac{3}{2}t^2 + \frac{6}{\sqrt{11}}t + 1)\boldsymbol{i} - (\frac{1}{2}t^2 + \frac{2}{\sqrt{11}}t - 2)\boldsymbol{j} + (\frac{1}{2}t^2 + \frac{2}{\sqrt{11}}t + 3)\boldsymbol{k} = (\frac{1}{2}t^2 + \frac{2t}{\sqrt{11}})(3\boldsymbol{i} - \boldsymbol{j} + \boldsymbol{k}) + (\boldsymbol{i} + 2\boldsymbol{j} + 3\boldsymbol{k})$

(۱۲.۴۱ $\boldsymbol{v}(t) = 2\sqrt{5}\boldsymbol{i} + \sqrt{5}\boldsymbol{j}$

(۱۲.۴۳ زیادہ سے زیادہ $|\boldsymbol{v}| = 3$، کم سے کم $|\boldsymbol{v}| = 2$، زیادہ سے زیادہ $|\boldsymbol{a}| = 3$، کم سے کم $|\boldsymbol{a}| = 2$

حصہ ۱۲.۲ صفحہ ۱۲۴۳

(۱۲.۶۴ 50 s

(۱۲.۶۶ ا) 72.2 s ، ب) 25 510 m ؛ ج) 4020 m ؛ 6378 m

(۱۲.۶۸ $t \approx 2.1257\,\mathrm{s}$, $x \approx 20.14\,\mathrm{m}$

(۱۲.۷۰ $v_0 = 9.9\,\mathrm{m\,s^{-1}}$, $\alpha = 18.4°$, $\alpha = 71.6°$

(۱۲.۷۲ $174\,\mathrm{km\,h^{-1}}$

(۱۲.۷۴ گیند درخت کے پتوں کو چھوتا ہوا اسے پار کر پائے گا۔

(۱۲.۷۶ $24.87\,\mathrm{m\,s^{-1}}$

(۱۲.۸۰ 141 %

(۱۲.۸۴ 1.789 سیکنڈ، 19.92 m

(۱۲.۸۸ $\boldsymbol{v}(t) = -gt\boldsymbol{k} + \boldsymbol{v}_0$, $\boldsymbol{r}(t) = -\frac{1}{2}gt^2\boldsymbol{k} + \boldsymbol{v}_0 t$

حصہ ۱۲.۳ صفحہ ۱۲۵۱

(۱۲.۹۱ $\boldsymbol{T} = (-\frac{2}{3}\sin t)\boldsymbol{i} + (\frac{2}{3}\cos t)\boldsymbol{j} + \frac{\sqrt{5}}{3}\boldsymbol{k}$, 3π

(۱۲.۹۳ $\boldsymbol{T} = \frac{1}{\sqrt{1+t}}\boldsymbol{i} + \frac{\sqrt{t}}{\sqrt{1+t}}\boldsymbol{k}$, $\frac{52}{3}$

(۱۲.۹۵ $\boldsymbol{T} = -\cos t\boldsymbol{j} + \sin t\boldsymbol{k}$, $\frac{3}{2}$

(۱۲.۹۷ $\boldsymbol{T} = (\frac{\cos t - t\sin t}{t+1})\boldsymbol{i} + (\frac{\sin t + t\cos t}{t+1})\boldsymbol{j} + (\frac{\sqrt{2}t^{1/2}}{t+1})\boldsymbol{k}$, $\frac{\pi^2}{2} + \pi$

(۱۲.۹۹ $(0, 5, 24\pi)$

(۱۲.۱۰۱ $s(t) = 5t$, $L = \frac{5\pi}{2}$

(۱۲.۱۰۳ $s(t) = \sqrt{3}e^t - \sqrt{3}$, $L = \frac{3\sqrt{3}}{4}$

(۱۲.۱۰۵ $\sqrt{2} + \ln(1 + \sqrt{2})$

(۱۲.۱۰۷ ا) نلکی $x^2 + y^2 = 1$ اور مستوی $x + z = 1$

ب) $L = \int_0^{2\pi} \sqrt{1 + \sin^2 t}\, dt$

ج) $L \approx 7.64$

حصہ ۱۲.۴ صفحہ ۱۲۶۷

(۱۲.۱۰۹ $\boldsymbol{T} = (\cos t)\boldsymbol{i} - (\sin t)\boldsymbol{j},\ \boldsymbol{N} = (-\sin t)\boldsymbol{i} - (\cos t)\boldsymbol{j},\ \kappa = \cos t$

(۱۲.۱۱۱ $\boldsymbol{T} = \frac{1}{\sqrt{1+t^2}}\boldsymbol{i} - \frac{t}{\sqrt{1+t^2}}\boldsymbol{j},\ \boldsymbol{N} = \frac{-t}{\sqrt{1+t^2}}\boldsymbol{i} - \frac{1}{\sqrt{1+t^2}}\boldsymbol{j},\ \kappa = \frac{1}{2(\sqrt{1+t^2})^3}$

(۱۲.۱۱۳ $\boldsymbol{a} = \frac{2t}{\sqrt{1+t^2}}\boldsymbol{T} + \frac{2}{\sqrt{1+t^2}}\boldsymbol{N}$

(۱۲.۱۱۵ (ب) $\cos x$

(۱۲.۱۱۷ (ب) $\boldsymbol{N} = \frac{-2e^{2t}}{\sqrt{1+4e^{4t}}}\boldsymbol{i} + \frac{1}{\sqrt{1+4e^{4t}}}\boldsymbol{j}$، (ج) $\boldsymbol{N} = -\frac{1}{2}(\sqrt{4-t^2}\boldsymbol{i} + t\boldsymbol{j})$

(۱۲.۱۱۹ $\boldsymbol{T} = \frac{3\cos t}{5}\boldsymbol{i} - \frac{3\sin t}{5}\boldsymbol{j} + \frac{4}{5}\boldsymbol{k},\ \boldsymbol{N} = (-\sin t)\boldsymbol{i} - (\cos t)\boldsymbol{j},\ \boldsymbol{B} = (\frac{4}{5}\cos t)\boldsymbol{i} - (\frac{4}{5}\sin t)\boldsymbol{j} - \frac{3}{5}\boldsymbol{k},\ \kappa = \frac{3}{25},\ \tau = -\frac{4}{25}$

(۱۲.۱۲۱ $\boldsymbol{T} = (\frac{\cos t - \sin t}{\sqrt{2}})\boldsymbol{i} + (\frac{\cos t + \sin t}{\sqrt{2}})\boldsymbol{j},\ \boldsymbol{N} = (\frac{-\cos t - \sin t}{\sqrt{2}})\boldsymbol{i} + (\frac{-\sin t + \cos t}{\sqrt{2}})\boldsymbol{j},\ \boldsymbol{B} = \boldsymbol{k},\ \kappa = \frac{1}{e^t\sqrt{2}},\ \tau = 0$

(۱۲.۱۲۳ $\boldsymbol{T} = \frac{t}{\sqrt{t^2+1}}\boldsymbol{i} + \frac{1}{\sqrt{t^2+1}}\boldsymbol{j},\ \boldsymbol{N} = \frac{\boldsymbol{i}}{\sqrt{t^2+1}} - \frac{t\boldsymbol{j}}{\sqrt{t^2+1}},\ \boldsymbol{B} = -\boldsymbol{k},\ \kappa = \frac{1}{t(t^2+1)^{3/2}},\ \tau = 0$

(۱۲.۱۲۵ $\boldsymbol{T} = (\operatorname{sech}\frac{t}{a})\boldsymbol{i} + (\tanh\frac{t}{a})\boldsymbol{j},\ \boldsymbol{N} = (-\tanh\frac{t}{a})\boldsymbol{i} + (\operatorname{sech}\frac{t}{a})\boldsymbol{j},\ \boldsymbol{B} = \boldsymbol{k},\ \kappa = \frac{1}{a}\operatorname{sech}^2\frac{t}{a},\ \tau = 0$

(۱۲.۱۲۷ $\boldsymbol{a} = |a|\,\boldsymbol{N}$

(۱۲.۱۲۹ (ا) $\boldsymbol{a}(1) = \frac{4}{3}\boldsymbol{T} + \frac{2\sqrt{5}}{3}\boldsymbol{N}$

(۱۲.۱۳۱ $\boldsymbol{a}(0) = 2\boldsymbol{N}$

(۱۲.۱۳۳ $\boldsymbol{r}(\frac{\pi}{4}) = \frac{\sqrt{2}}{2}\boldsymbol{i} + \frac{\sqrt{2}}{2}\boldsymbol{j} - \boldsymbol{k},\ \boldsymbol{T}(\frac{\pi}{4}) = -\frac{\sqrt{2}}{2}\boldsymbol{i} - \frac{\sqrt{2}}{2}\boldsymbol{j},\ \boldsymbol{N}(\frac{\pi}{4}) = -\frac{\sqrt{2}}{2}\boldsymbol{i} - \frac{\sqrt{2}}{2}\boldsymbol{j},\ \boldsymbol{B}(\frac{\pi}{4}) = \boldsymbol{k};$

مستوی دائرہ انحنا $z = -1$ ہے؛ عمودی مستوی $x + y = \sqrt{2}$ ہے؛ سمت کار مستوی $x + y = 0$ ہے۔

(۱۲.۱۳۵ جی ہاں۔ اگر گاڑی مڑتی سڑک $(\kappa \neq 0)$ پر چل رہی ہو تب $a_N = \kappa|\boldsymbol{v}|^2 \neq 0$ اور $\boldsymbol{a} \neq \boldsymbol{0}$ ہوگا۔

(۱۲.۱۳۹ $|\boldsymbol{F}| = \kappa(m(\frac{\mathrm{d}s}{\mathrm{d}t})^2)$

(۱۲.۱۴۳ $\frac{1}{2b}$

(۱۲.۱۴۷ (ا) $b - a$، (ب) π

(۱۲.۱۵۳ $\kappa(x) = \frac{2}{(1+4x^2)^{3/2}}$

(۱۲.۱۵۵ $\kappa(x) = \frac{|\sin x|}{(1+\cos^2 x)^{3/2}}$

(۱۲.۱۶۵ $\boldsymbol{v}$ کے اجزاء: -1.8701، 0.7089، -1.0000؛ $\boldsymbol{a}$ کے اجزاء: -1.6960، -2.0307، 0؛ $\boldsymbol{T}$ کے اجزاء: 2.2361، -0.8364، 0.3170؛ $\boldsymbol{N}$ کے اجزاء: 0.4472، -0.4143، -0.8998؛ $\boldsymbol{B}$ کے اجزاء: -0.1369، 0.3590، -0.2998، 0.8839؛ انحنا 0.5060؛ مروڑ 0.2813؛ اسراع کا مماسی جزو: 0.7746؛ اسراع کا عمودی جزو 2.5298؛

(۱۲.۱۶۷ $\boldsymbol{v}$ کے اجزاء: 2.0000، 0، 0.1629؛ $\boldsymbol{a}$ کے اجزاء: 0، -1.0000، 0.0086؛ رفتار 2.0066؛ $\boldsymbol{T}$ کے اجزاء: 0.9967، 0، 0.0812؛ $\boldsymbol{N}$ کے اجزاء: -0.0007، -1.0000، 0.0086؛ $\boldsymbol{B}$ کے اجزاء: 0.0812، -0.0086، -0.9967؛ انحنا 0.2484؛ مروڑ -0.0411؛ اسراع کا مماسی جزو: 0.0007؛ اسراع کا عمودی جزو 1.0000؛

حصہ ۱۲.۵ صفحہ ۱۲۸۲

(۱۲.۱۶۹ $T = 93.2\,\mathrm{min}$

(۱۲.۱۷۱ $a = 6763\,\mathrm{km}$

(۱۲.۱۷۳ $T = 1655\,\mathrm{min}$

(۱۲.۱۷۵ $a = 20\,430\,\mathrm{km}$

(۱۲.۱۷۷ $|v| = 1.9966 \times 10^7 r^{-1/2}\,\mathrm{m\,s^{-1}}$

(۱۲.۱۷۹ دائرہ: $v_0 = \sqrt{\frac{GM}{r_0}}$؛ ترخیم: $\sqrt{\frac{GM}{r_0}} < v_0 <$؛ قطع مکافی: $v_0 = \sqrt{\frac{2GM}{r_0}}$؛ قطع زائد: $v_0 > \sqrt{\frac{2GM}{r_0}}$

(۱۲.۱۸۳ (ا) $x(t) = 2 + (3 - 4\cos(\pi t))\cos(\pi t)$
$y(t) = (3 - 4\cos(\pi t))\sin(\pi t)$

(۱۲.۱۸۵ (ج) $\boldsymbol{v} = \dot{r}\boldsymbol{u}_r + r\dot{\theta}\boldsymbol{u}_\theta + \dot{z}\boldsymbol{k}$
$\boldsymbol{a} = (\ddot{r} - r\dot{\theta}^2)\boldsymbol{u}_r + (r\ddot{\theta} + 2\dot{r}\dot{\theta})\boldsymbol{u}_\theta + \ddot{z}\boldsymbol{k}$

(۱۲.۱۸۷ (ا)
$\boldsymbol{u}_r = \sin\theta\cos\phi\boldsymbol{i} + \sin\theta\sin\phi\boldsymbol{j} + \cos\theta\boldsymbol{k}$
$\boldsymbol{u}_\theta = \cos\theta\cos\phi\boldsymbol{i} + \cos\theta\sin\phi\boldsymbol{j} - \sin\theta\boldsymbol{k}$
$\boldsymbol{u}_\phi = -\sin\phi\boldsymbol{i} + \cos\phi\boldsymbol{j}$

حصہ ۱۳.۱ صفحہ ۱۲۹۵

۱۳.۱ (ا) مستوی xy میں تمام نقاط، (ب) تمام حقیقی، (ج) خطوط $x = c$ $y -$، (د) کوئی سرحدی نقطہ نہیں ہے (ہ) کھلا اور بند دونوں، (و) غیر محدود

۱۳.۳ (ا) مستوی xy میں تمام نقاط، (ب) $z \geq 0$، (ج) $f(x,y) = 0$ کے لئے مرکز عین مبدا پر ہے؛ $f(x,y) \neq 0$ کے لئے وہ ترخیم جس کا مرکز $(0,0)$ جبکہ محور اکبر اور محور اصغر بالترتیب محور x اور محور y پر ہوں، (د) کوئی سرحدی نقطہ نہیں ہے، (ہ) کھلا اور بند دونوں، (و) غیر محدود

۱۳.۵) (ا) مستوی xy میں تمام نقاط، (ب) تمام حقیقی، (ج) $f(x,y) = 0$ کے لئے محور x اور محور y جبکہ $f(x,y) \neq 0$ کے لئے قطع زائد جس کے متقارب محور x اور محور y ہیں، (د) کوئی سرحدی نقطہ نہیں ہے، (ہ) کھلا اور بند دونوں، (و) غیر محدود (۱۳.۲۱)

۱۳.۷) (ا) وہ تمام (x,y) جو $x^2+y^2 < 16$ کو مطمئن کرتے ہوں، (ب) $z \geq \frac{1}{4}$، (ج) وہ دائرے جن کے مرکز مبدا پر ہوں اور جن کے رداس $r < 4$ ہوں، (د) دائرہ $x^2+y^2 = 16$ سرحد ہے، (ہ) کھلا، (و) محدود

۱۳.۹) (ا) $(x,y) \neq (0,0)$، (ب) تمام حقیقی، (ج) وہ دائرے جن کے مراکز مبدا پر ہوں اور جن کے رداس $r > 0$ ہوں، (د) واحد نقطہ $(0,0)$ سرحدی نقطہ ہے، (ہ) کھلا، (و) غیر محدود

۱۳.۱۱) (ا) وہ تمام (x,y) جو $-1 \leq y-x \leq 1$ کو مطمئن کرتے ہوں، (ب) $-\frac{\pi}{2} \leq z \leq \frac{\pi}{2}$، (ج) $y-x = c$ طرز کے خطوط جہاں $-1 \leq c \leq 1$ ہے، (د) دو سیدھے خطوط $y = 1+x$ اور $y = -1+x$ سرحد ہیں، (ہ) بند، (و) غیر محدود

۱۳.۱۳) شکل ۱۳.۱۸ جو تفاعل $z = \cos x \cos y e^{-\sqrt{x^2+y^2}/4}$ ہے۔ (۱۳.۲۲)

۱۳.۱۴) شکل ۱۳.۱۳ جو تفاعل $z = -\frac{xy^2}{x^2+y^2}$ ہے۔

۱۳.۱۵) شکل ۱۳.۱۶ جو تفاعل $z = \frac{1}{4x^2+y^2}$ ہے۔

۱۳.۱۶) شکل ۱۳.۱۵ جو تفاعل $z = e^{-y}\cos x$ ہے۔

۱۳.۱۷) شکل ۱۳.۱۴ جو تفاعل $z = \frac{xy(x^2-y^2)}{x^2+y^2}$ ہے۔

۱۳.۱۸) شکل ۱۳.۱۷ جو تفاعل $z = y^2 - y^4 - x^2$ ہے۔

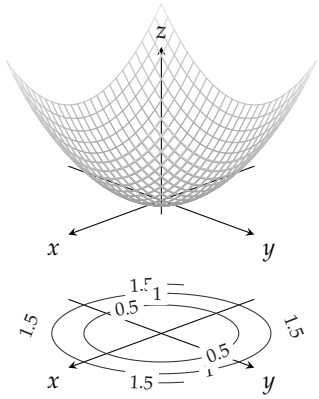

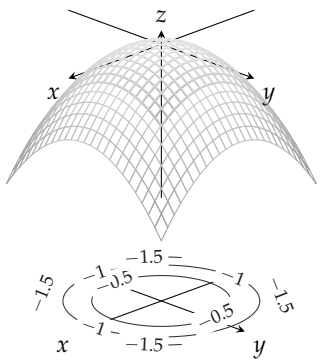

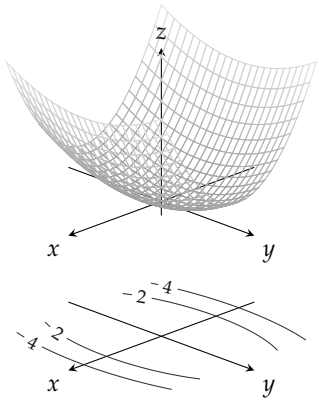

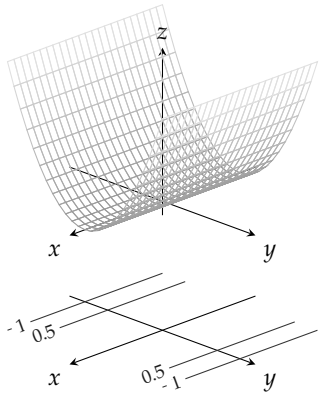

(۱۳.۱۹ ۲۹۴۶۸) (۱۳.۲۵ ۹۴۷۴) ۲۹۴۷۵

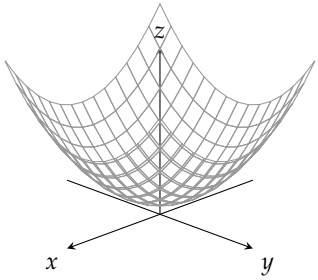

(۱۳.۳۵

۲۹۳۸۴

$f(x,y,z) = z - x^2 - y^2 = 1$ ۲۹۳۸۵

یعنی $z = x^2 + y^2 + 1$ ۲۹۳۸۶

(۱۳.۳۷ $x^2 + y^2 = 10$ ۲۹۳۸۷

(۱۳.۳۹ $\tan^{-1} y - \tan^{-1} x = 2\tan^{-1}\sqrt{2}$ ۲۹۳۸۸

(۱۳.۴۱ $\sqrt{x-y} - \ln z = 2$ ۲۹۳۸۹

(۱۳.۴۳ $\frac{x+y}{z} = \ln 2$ ۲۹۳۹۰

(۱۳.۴۵ جی ہاں، 2000 ۲۹۳۹۱

(۱۳.۴۷ 63 km ۲۹۳۹۲

حصہ ۱۳.۲ صفحہ ۱۳۰۵ ۲۹۳۹۳

(۱۳.۶۱ $\frac{5}{2}$ ۲۹۳۹۴

(۱۳.۶۳ $2\sqrt{6}$ ۲۹۳۹۵

(۱۳.۶۵ 1 ۲۹۳۹۶

(۱۳.۶۷ $\frac{1}{2}$ ۲۹۳۹۷

(۱۳.۶۹ 1 ۲۹۳۹۸

(۱۳.۷۱ 0 ۲۹۳۹۹

(۱۳.۷۳ 0 ۲۹۵۰۰

(۱۳.۷۵ -1 ۲۹۵۰۱

(۱۳.۷۷ 2 ۲۹۵۰۲

(۱۳.۷۹ $\frac{1}{4}$ ۲۹۵۰۳

(۱۳.۸۱ $\frac{19}{12}$ ۲۹۵۰۴

(۱۳.۸۳ 2 ۲۹۵۰۵

(۱۳.۸۵ 3 ۲۹۵۰۶

(۱۳.۸۷ (ا) تمام (x,y)، (ب) ماسوائے $(0,0)$ تمام (x,y) ۲۹۵۰۷

(۱۳.۸۹ (ا) تمام (x,y) ماسوائے جہاں $x = 0$ یا $y = 0$ ہو، (ب) ۲۹۵۰۸

تمام (x,y) ۲۹۵۰۹

(۱۳.۹۱ (ا) تمام (x,y,z)، (ب) نلکی $x^2 + y^2 = 1$ کی اندرون ۲۹۵۱۰

کے علاوہ تمام (x,y,z) ۲۹۵۱۱

(۱۳.۹۳ (ا) وہ تمام (x,y,z) جہاں $z \neq 0$ ہو، (ب) وہ تمام ۲۹۵۱۲

(x,y,z) جہاں $x^2 + y^2 \neq 1$ ہو۔ ۲۹۵۱۳

(۱۳.۹۵ راہ $y = x, x > 0$ اور $y = x, x < 0$ لیں۔ ۲۹۵۱۴

(۱۳.۹۷ راہ $y = kx^2$ لیں جہاں k ایک مستقل ہو۔

(۱۳.۹۹ راہ $y = mx$ لیں جہاں m ایک مستقل $m \neq -1$ ہو۔ ۲۹۵۱۶

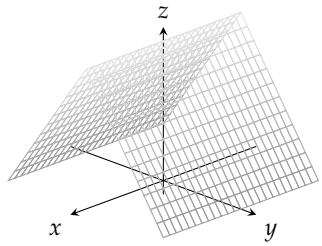

(۱۳.۲۷ ۲۹۳۷۶

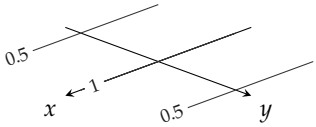

۲۹۳۷۷

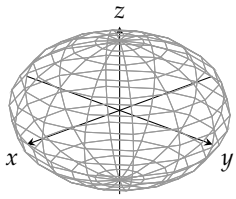

۲۹۳۷۸

$f(x,y,z) = x^2 + y^2 + z^2 = 1$ ۲۹۳۷۹

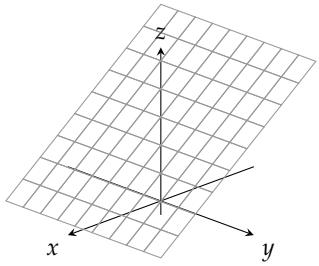

۲۹۳۸۰

$f(x,y,z) = x + z = 1$ ۲۹۳۸۱

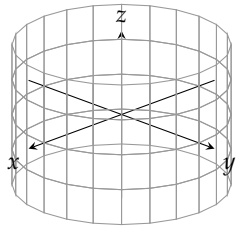

۲۹۳۸۲

$f(x,y,z) = x^2 + y^2 = 1$ ۲۹۳۸۳

۲۹۵۱۷ (۱۳.۱۰۱) راہ $y = kx^2$ لیں جہاں k ایک مستقل $k \neq 0$ ہو۔

۲۹۵۱۸ (۱۳.۱۰۳) نہیں

۲۹۵۱۹ (۱۳.۱۰۵) حد 1 ہے۔

۲۹۵۲۰ (۱۳.۱۰۷) حد 0 ہے۔

۲۹۵۲۱ (۱۳.۱۰۹) (ا) $f(x,y)\big|_{y=mx} = \sin 2\theta$ جہاں

۲۹۵۲۲ $\tan\theta = m$ ہے۔

۲۹۵۲۳ (۱۳.۱۱۱) 0

۲۹۵۲۴ (۱۳.۱۱۳) غیر موجود ہے۔

۲۹۵۲۵ (۱۳.۱۱۵) $\frac{\pi}{2}$

۲۹۵۲۶ (۱۳.۱۱۷) $f(0,0) = \ln 3$

۲۹۵۲۷ (۱۳.۱۲۱) $\delta = 0.1$

۲۹۵۲۸ (۱۳.۱۲۳) $\delta = 0.005$

۲۹۵۲۹ (۱۳.۱۲۵) $\delta = \sqrt{0.015}$

۲۹۵۳۰ (۱۳.۱۲۷) $\delta = 0.005$

۲۹۵۳۱ حصہ ۱۳.۳ صفحہ ۱۳۲۳

۲۹۵۳۲ (۱۳.۱۳۱) $\frac{\partial f}{\partial x} = 4x, \quad \frac{\partial f}{\partial y} = -3$

۲۹۵۳۳ (۱۳.۱۳۳) $\frac{\partial f}{\partial x} = 2x(y+2), \quad \frac{\partial f}{\partial y} = x^2 - 1$

۲۹۵۳۴ (۱۳.۱۳۵) $\frac{\partial f}{\partial x} = 2y(xy-1), \quad \frac{\partial f}{\partial y} = 2x(xy-1)$

۲۹۵۳۵ (۱۳.۱۳۷) $\frac{\partial f}{\partial x} = \frac{x}{\sqrt{x^2+y^2}}, \quad \frac{\partial f}{\partial y} = \frac{y}{\sqrt{x^2+y^2}}$

۲۹۵۳۶ (۱۳.۱۳۹) $\frac{\partial f}{\partial x} = \frac{-1}{(x+y)^2}, \quad \frac{\partial f}{\partial y} = \frac{-1}{(x+y)^2}$

۲۹۵۳۷ (۱۳.۱۴۱) $\frac{\partial f}{\partial x} = \frac{-y^2-1}{(xy-1)^2}, \quad \frac{\partial f}{\partial y} = \frac{-x^2-1}{(xy-1)^2}$

۲۹۵۳۸ (۱۳.۱۴۳) $\frac{\partial f}{\partial x} = e^{x+y+1}, \quad \frac{\partial f}{\partial y} = e^{x+y+1}$

۲۹۵۳۹ (۱۳.۱۴۵) $\frac{\partial f}{\partial x} = \frac{1}{x+y}, \quad \frac{\partial f}{\partial y} = \frac{1}{x+y}$

۲۹۵۴۰ (۱۳.۱۴۷) $\frac{\partial f}{\partial x} = 2\sin(x-3y)\cos(x-3y),$

۲۹۵۴۱ $\frac{\partial f}{\partial y} = -6\sin(x-3y)\cos(x-3y)$

۲۹۵۴۲ (۱۳.۱۴۹) $\frac{\partial f}{\partial x} = yx^{y-1}, \quad \frac{\partial f}{\partial y} = x^y \ln x$

۲۹۵۴۳ (۱۳.۱۵۱) $\frac{\partial f}{\partial x} = -g(x), \quad \frac{\partial f}{\partial y} = g(y)$

۲۹۵۴۴ (۱۳.۱۵۳) $f_x = y^2, \quad f_y = 2xy, \quad f_z = -4z$

۲۹۵۴۵ (۱۳.۱۵۵) $f_x = 1, f_y = -y(y^2+z^2)^{-1/2},$

۲۹۵۴۶ $f_z = -z(y^2+z^2)^{-1/2}$

۲۹۵۴۷ (۱۳.۱۵۷) $f_x = \frac{yz}{\sqrt{1-x^2y^2z^2}}, f_y = \frac{xz}{\sqrt{1-x^2y^2z^2}},$

۲۹۵۴۸ $f_z = \frac{xy}{\sqrt{1-x^2y^2z^2}}$

۲۹۵۴۹ (۱۳.۱۵۹) $f_x = \frac{1}{x+2y+3z}, f_y = \frac{2}{x+2y+3z},$

۲۹۵۵۰ $f_z = \frac{3}{x+2y+3z}$

۲۹۵۵۱ (۱۳.۱۶۱) $f_x = -2xe^{-(x^2+y^2+z^2)},$

۲۹۵۵۲ $f_y = -2ye^{-(x^2+y^2+z^2)},$

۲۹۵۵۳ $f_z = -2ze^{-(x^2+y^2+z^2)}$

۲۹۵۵۴ (۱۳.۱۶۳) $f_x = \operatorname{sech}^2(x+2y+3z),$

۲۹۵۵۵ $f_y = 2\operatorname{sech}^2(x+2y+3z),$

۲۹۵۵۶ $f_z = 3\operatorname{sech}^2(x+2y+3z)$

۲۹۵۵۷ (۱۳.۱۶۵) $\frac{\partial f}{\partial t} = -2\pi\sin(2\pi t - \alpha),$

۲۹۵۵۸ $\frac{\partial f}{\partial \alpha} = \sin(2\pi t - \alpha)$

۲۹۵۵۹ (۱۳.۱۶۷) $\frac{\partial h}{\partial \rho} = \sin\theta\cos\phi,$

۲۹۵۶۰ $\frac{\partial h}{\partial \theta} = \rho\cos\theta\cos\phi,$

۲۹۵۶۱ $\frac{\partial h}{\partial \phi} = -\rho\sin\theta\sin\phi$

۲۹۵۶۲ (۱۳.۱۶۹) $W_P(P,H,\delta,v,g) = H,$

۲۹۵۶۳ $W_H(P,H,\delta,v,g) = P + \frac{\delta v^2}{2g},$

۲۹۵۶۴ $W_\delta(P,H,\delta,v,g) = \frac{Hv^2}{2g},$

۲۹۵۶۵ $W_v(P,H,\delta,v,g) = \frac{H\delta v}{g},$

۲۹۵۶۶ $W_g(P,H,\delta,v,g) = -\frac{H\delta v^2}{2g^2}$

۲۹۵۶۷ (۱۳.۱۷۱) $\frac{\partial f}{\partial x} = 1+y, \frac{\partial f}{\partial y} = 1+x, \frac{\partial^2 f}{\partial x^2} = 0,$

۲۹۵۶۸ $\frac{\partial^2 f}{\partial y^2} = 0, \frac{\partial^2 f}{\partial y \partial x} = \frac{\partial^2 f}{\partial x \partial y} = 1$

۲۹۵۶۹ (۱۳.۱۷۳) $\frac{\partial g}{\partial x} = 2xy + y\cos x,$

۲۹۵۷۰ $\frac{\partial g}{\partial y} = x^2 - \sin y + \sin x,$

۲۹۵۷۱ $\frac{\partial^2 g}{\partial x^2} = 2y - y\sin x, \frac{\partial^2 g}{\partial y^2} = -\cos y,$

۲۹۵۷۲ $\frac{\partial^2 g}{\partial y \partial x} = \frac{\partial^2 f}{\partial x \partial y} = 2x + \cos x$

۲۹۵۷۳ (۱۳.۱۷۵) $\frac{\partial r}{\partial x} = \frac{1}{x+y}, \frac{\partial r}{\partial y} = \frac{1}{x+y}, \frac{\partial^2 r}{\partial x^2} = \frac{-1}{(x+y)^2}$

۲۹۵۷۴ $\frac{\partial^2 r}{\partial y^2} = \frac{-1}{(x+y)^2}, \frac{\partial^2 r}{\partial y \partial x} = \frac{\partial^2 f}{\partial x \partial y} = \frac{-1}{(x+y)^2}$

۲۹۵۷۵ (۱۳.۱۷۷) $\frac{\partial w}{\partial x} = \frac{2}{2x+3y}, \frac{\partial w}{\partial y} = \frac{3}{2x+3y},$

۲۹۵۷۶ $\frac{\partial^2 w}{\partial y \partial x} = \frac{\partial^2 f}{\partial x \partial y} = \frac{-6}{(2x+3y)^2}$

۲۹۵۷۷ (۱۳.۱۷۹) $\frac{\partial w}{\partial x} = y^2 + 2xy^3 + 3x^2y^4,$

۲۹۵۷۸ $\frac{\partial w}{\partial y} = 2xy + 3x^2y^2 + 4x^3y^3,$

۲۹۵۷۹ $\frac{\partial^2 w}{\partial y \partial x} = 2y + 6xy^2 + 12x^2y^3,$

۲۹۵۸۰ $\frac{\partial^2 f}{\partial x \partial y} = 2y + 6xy^2 + 12x^2y^3$

۲۹۵۸۱ (۱۳.۱۸۱) (ا) پہلے x، (ب) پہلے y، (ج) پہلے x، (د) پہلے x، (ہ) پہلے

۲۹۵۸۲ y، (و) پہلے y

۲۹۵۸۳ (۱۳.۱۸۳) $f_x(1,2) = -13, f_y(1,2) = -2$

۲۹۵۸۴ (۱۳.۱۸۵) 12

۲۹۵۸۵ (۱۳.۱۸۷) -2

۲۹۵۸۶ (۱۳.۱۸۹) $\frac{\partial A}{\partial a} = \frac{a}{bc\sin A}$، $\frac{\partial A}{\partial b} = \frac{c\cos A - b}{bc\sin A}$

۲۹۵۸۷ (۱۳.۱۹۱) $v_x = \frac{\ln v}{(\ln u)(\ln v) - 1}$

۲۹۵۸۸ حصہ ۱۳.۴ صفحہ ۱۳۴۰

۲۹۵۸۹ (۱۳.۲۰۶) (ا) $L(x,y) = 1$،

۲۹۵۹۰ (ب) $L(x,y) = 2x + 2y - 1$

۲۹۵۹۱ (۱۳.۲۰۸) (ا) $L(x,y) = 3x - 4y + 5$،

۲۹۵۹۲ (ب) $L(x,y) = 3x - 4y + 5$

۲۹۵۹۳ (۱۳.۲۱۰) (ا) $L(x,y) = 1 + x$،

۲۹۵۹۴ (ب) $L(x,y) = -y + \frac{\pi}{2}$

۲۹۵۹۵ (۱۳.۲۱۲) $L(x,y) = 7 + x - 6y; 0.06$

۲۹۵۹۶ (۱۳.۲۱۴) $L(x,y) = x + y + 1; 0.08$

۲۹۵۹۷ (۱۳.۲۱۶) $L(x,y) = 1 + x; 0.0222$

۲۹۵۹۸ (۱۳.۲۱۸) چھوٹے ضلع پر زیادہ توجہ دیں۔ یہ زیادہ بڑا جزوی تفرق دے گا۔

۲۹۵۹۹ (۱۳.۲۲۰) خلل کی زیادہ سے زیادہ مقدار (اندازاً) ≤ 0.31 ہو گی۔

۲۹۶۰۰ (۱۳.۲۲۲) زیادہ سے زیادہ فی صد خلل $\mp 4.83\,\%$ ہو گا۔

۲۹۶۰۱ (۱۳.۲۲۴) $|x-1| \leq 0.014$ اور $|y-1| \leq 0.014$ لیں۔

۲۹۶۰۲ (۱۳.۲۲۶) $\approx 0.1\,\%$

۲۹۶۰۳ (۱۳.۲۲۸) (ا) $L(x,y,z) = 2x + 2y + 2z - 3$،

۲۹۶۰۴ (ب) $L(x,y,z,) = y + z$،

۲۹۶۰۵ (ج) $L(x,y,z) = 0$

۲۹۶۰۶ (۱۳.۲۳۰) (ا) $L(x,y,z) = x$،

۲۹۶۰۷ (ب) $L(x,y,z) = \frac{x}{\sqrt{2}} + \frac{y}{\sqrt{2}}$،

۲۹۶۰۸ (ج) $L(x,y,z) = \frac{x}{3} + \frac{2y}{3} + \frac{2z}{3}$

۲۹۶۰۹ (۱۳.۲۳۲) (ا) $L(x,y,z) = 2 + x$،

۲۹۶۱۰ (ب) $L(x,y,z) = x - y - z + \frac{\pi}{2} + 1$،

۲۹۶۱۱ (ج) $L(x,y,z) = x - y - z + \frac{\pi}{2} + 1$

۲۹۶۱۲ (۱۳.۲۳۴) $L(x,y,z) = 2x - 6y - 2z + 6,\ 0.0024$

۲۹۶۱۳ (۱۳.۲۳۶) $L(x,y,z) = x + y - z - 1,\ 0.00135$

۲۹۶۱۴ (۱۳.۲۳۸) (ا) $S_0(\frac{1}{100}\,\mathrm{d}p + \mathrm{d}x - 5\,\mathrm{d}w - 30\,\mathrm{d}h)$

۲۹۶۱۵ (ب) قد میں تبدیلی کو زیادہ حساس ہے۔

۲۹۶۱۶ (۱۳.۲۴۰) d میں تبدیلی کو f زیادہ حساس ہے۔

۲۹۶۱۷ (۱۳.۲۴۴) ممکنہ خلل کی مقدار ≤ 4.8 ہو گی۔

۲۹۶۱۸ (۱۳.۲۴۶) جی ہاں

۲۹۶۱۹ حصہ ۱۳.۵ صفحہ ۱۳۵۱

۲۹۶۲۰ (۱۳.۲۴۸) $\frac{\mathrm{d}w}{\mathrm{d}t} = 0,\ \frac{\mathrm{d}w}{\mathrm{d}t}(\pi) = 0$

۲۹۶۲۱ (۱۳.۲۵۰) $\frac{\mathrm{d}w}{\mathrm{d}t} = 1,\ \frac{\mathrm{d}w}{\mathrm{d}t}(3) = 1$

۲۹۶۲۲ (۱۳.۲۵۲) $\frac{\mathrm{d}w}{\mathrm{d}t} = 4t\tan^{-1} t + 1,\ \frac{\mathrm{d}w}{\mathrm{d}t}(1) = \pi + 1$

۲۹۶۲۳ (۱۳.۲۵۴) (ا) $\frac{\partial z}{\partial r} = 4\cos\theta\ln(r\sin\theta) + 4\cos\theta,$

۲۹۶۲۴ $\frac{\partial z}{\partial \theta} = -4r\sin\theta\ln(r\sin\theta) + \frac{4r\cos^2\theta}{\sin\theta}$

۲۹۶۲۵ (ب) $\frac{\partial z}{\partial r} = \sqrt{2}(\ln 2 + 2),$

۲۹۶۲۶ $\frac{\partial z}{\partial \theta} = -2\sqrt{2}\ln 2 + 4\sqrt{2}$

۲۹۶۲۷ (۱۳.۲۵۶) (ا) $\frac{\partial w}{\partial u} = 2u + 4uv,$

۲۹۶۲۸ $\frac{\partial w}{\partial v} = -2v + 2u^2$

۲۹۶۲۹ (ب) $\frac{\partial w}{\partial u} = 3,\ \frac{\partial w}{\partial v} = -\frac{3}{2}$

۲۹۶۳۰ (۱۳.۲۵۸) (ا) $\frac{\partial u}{\partial x} = 0,\ \frac{\partial u}{\partial y} = \frac{z}{(z-y)^2}$

۲۹۶۳۱ $\frac{\partial u}{\partial z} = \frac{-y}{(z-y)^2}$

۲۹۶۳۲ (ب) $\frac{\partial u}{\partial x} = 0,\ \frac{\partial u}{\partial y} = 1,\ \frac{\partial u}{\partial z} = -2$

۲۹۶۳۳ (۱۳.۲۶۰) $\frac{\partial z}{\partial t} = \frac{\partial z}{\partial x}\frac{\mathrm{d}x}{\mathrm{d}t} + \frac{\partial z}{\partial y}\frac{\mathrm{d}y}{\mathrm{d}t}$

۲۹۶۳۴ (۱۳.۲۶۲) $\frac{\partial w}{\partial u} = \frac{\partial w}{\partial x}\frac{\partial x}{\partial u} + \frac{\partial w}{\partial y}\frac{\partial y}{\partial u} + \frac{\partial w}{\partial z}\frac{\partial z}{\partial u}$

۲۹۶۳۵ $\frac{\partial w}{\partial v} = \frac{\partial w}{\partial x}\frac{\partial x}{\partial v} + \frac{\partial w}{\partial y}\frac{\partial y}{\partial v} + \frac{\partial w}{\partial z}\frac{\partial z}{\partial v}$

۲۹۶۳۶ (۱۳.۲۶۴) $\frac{\partial w}{\partial u} = \frac{\partial w}{\partial x}\frac{\partial x}{\partial u} + \frac{\partial w}{\partial y}\frac{\partial y}{\partial u}$

۲۹۶۳۷ $\frac{\partial w}{\partial v} = \frac{\partial w}{\partial x}\frac{\partial x}{\partial v} + \frac{\partial w}{\partial y}\frac{\partial y}{\partial v}$

۲۹۶۳۸ (۱۳.۲۶۶) $\frac{\partial z}{\partial t} = \frac{\partial z}{\partial x}\frac{\partial x}{\partial t} + \frac{\partial z}{\partial y}\frac{\partial y}{\partial t}$

۲۹۶۳۹ $\frac{\partial z}{\partial s} = \frac{\partial z}{\partial x}\frac{\partial x}{\partial s} + \frac{\partial z}{\partial y}\frac{\partial y}{\partial s}$

۲۹۶۴۰ (۱۳.۲۶۸) $\frac{\partial w}{\partial s} = \frac{\mathrm{d}w}{\mathrm{d}u}\frac{\partial u}{\partial s},\ \frac{\partial w}{\partial t} = \frac{\mathrm{d}w}{\mathrm{d}u}\frac{\partial u}{\partial t}$

۲۹۶۴۱ (۱۳.۲۷۰) چونکہ $\frac{\mathrm{d}y}{\mathrm{d}r} = 0$ ہے لہٰذا

۲۹۶۴۲ $\frac{\partial w}{\partial r} = \frac{\partial w}{\partial x}\frac{\mathrm{d}x}{\mathrm{d}r} + \frac{\partial w}{\partial y}\frac{\mathrm{d}y}{\mathrm{d}r} = \frac{\partial w}{\partial x}\frac{\mathrm{d}x}{\mathrm{d}r}$

۲۹۶۴۳ چونکہ $\frac{\mathrm{d}x}{\mathrm{d}s} = 0$ ہے لہٰذا

۲۹۶۴۴ $\frac{\partial w}{\partial s} = \frac{\partial w}{\partial x}\frac{\mathrm{d}x}{\mathrm{d}s} + \frac{\partial w}{\partial y}\frac{\mathrm{d}y}{\mathrm{d}s} = \frac{\partial w}{\partial y}\frac{\mathrm{d}y}{\mathrm{d}s}$

۲۹۶۴۵ (۱۳.۲۷۲) $\frac{4}{3}$

۲۹۶۴۶ (۱۳.۲۷۴) $-\frac{4}{5}$

۲۹۶۴۷ (۱۳.۲۷۶) $\frac{\partial z}{\partial x} = \frac{1}{4},\ \frac{\partial z}{\partial y} = -\frac{3}{4}$

۲۹۶۴۸ (۱۳.۲۷۸) $\frac{\partial z}{\partial x} = -1,\ \frac{\partial z}{\partial y} = -1$

۲۹۶۴۹ (۱۳.۲۸۰) 12

۲۹۶۵۰ (۱۳.۲۸۲) -7

۲۹۶۵۱ (۱۳.۲۸۴) $\frac{\partial z}{\partial u} = 2,\ \frac{\partial z}{\partial v} = 1$

۲۹۶۵۲ (۱۳.۲۸۶) $-0.000\,05\ \mathrm{A\,s^{-1}}$

۲۹۶۵۳ (۱۳.۲۹۵) $(\cos 1, \sin 1, 1)$ اور $(\cos(-2), \sin(-2), -2)$

۲۹۶۵۴ (۱۳.۲۹۴) (ا) $(-\frac{\sqrt{2}}{2}, \frac{\sqrt{2}}{2})$ اور $(\frac{\sqrt{2}}{2}, -\frac{\sqrt{2}}{2})$ پر زیادہ سے

۲۹۶۵۵ زیادہ،

۲۹۶۵۶ $(\frac{\sqrt{2}}{2}, \frac{\sqrt{2}}{2})$ اور $(-\frac{\sqrt{2}}{2}, -\frac{\sqrt{2}}{2})$ کم سے کم۔

۲۹۶۵۷ (ب) زیادہ $= 6$، کم $= 2$

۲۹۶۵۸ (۱۳.۲۹۶) $2x\sqrt{x^8+x^3}+\int_0^{x^2}\frac{3x^2}{2\sqrt{t^4+x^3}}\,\mathrm{d}t$

۲۹۶۵۹ حصہ ۱۳.۶ صفحہ ۱۳۶۲

۲۹۶۶۰ (۱۳.۲۹۸) (ا) 0، (ب) $1+2z$، (ج) $1+2z$

۲۹۶۶۱ (۱۳.۳۰۰) (ا) $\frac{\partial U}{\partial P}\left(\frac{nR}{H}\right)+\frac{\partial U}{\partial T}\left(\frac{H}{nR}\right)$ (ب) $\frac{\partial U}{\partial P}$

۲۹۶۶۲ (۱۳.۳۰۲) (ا) 5، (ب) 5

۲۹۶۶۳ (۱۳.۳۰۴) $\frac{x}{\sqrt{x^2+y^2}}$

۲۹۶۶۴ حصہ ۱۳.۷ صفحہ ۱۳۷۷

۲۹۶۶۵ (۱۳.۳۱۸)

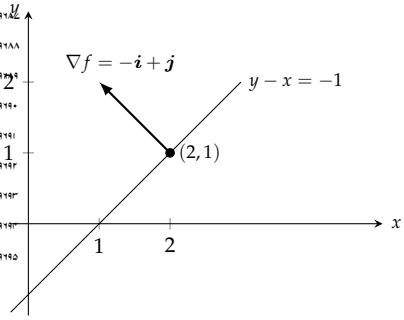

۲۹۶۶۶ (۱۳.۳۱۴)

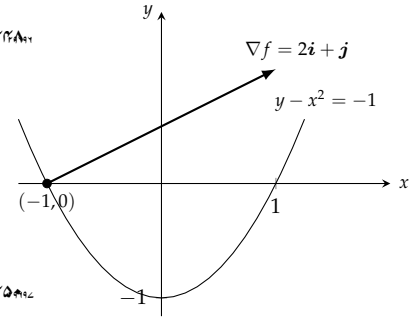

۲۹۶۶۷ (۱۳.۳۱۴) $\nabla f=3\boldsymbol{i}+2\boldsymbol{j}-4\boldsymbol{k}$

۲۹۶۶۸ (۱۳.۳۱۶) $\nabla f=-\frac{26}{27}\boldsymbol{i}+\frac{23}{54}\boldsymbol{j}-\frac{23}{54}\boldsymbol{k}$

۲۹۶۶۹ (۱۳.۳۱۸) -4

۲۹۶۷۰ (۱۳.۳۲۰) $\frac{31}{13}$

۲۹۶۷۱ (۱۳.۳۲۲) 3

۲۹۶۷۲ (۱۳.۳۲۴) 2

۲۹۶۷۳ (۱۳.۳۲۶) $\boldsymbol{u}=-\frac{1}{\sqrt{2}}\boldsymbol{i}+\frac{1}{\sqrt{2}}\boldsymbol{j},\ (D_{\boldsymbol{u}}f)_{N_0}=\sqrt{2};$

۲۹۶۷۴ $-\boldsymbol{u}=\frac{1}{\sqrt{2}}\boldsymbol{i}-\frac{1}{\sqrt{2}}\boldsymbol{j},$

۲۹۶۷۵ $(D_{-\boldsymbol{u}}f)_{N_0}=-\sqrt{2}$

۲۹۶۷۶ (۱۳.۳۲۸) $\boldsymbol{u}=\frac{1}{3\sqrt{3}}\boldsymbol{i}-\frac{5}{3\sqrt{3}}\boldsymbol{j}-\frac{1}{3\sqrt{3}}\boldsymbol{k},$

۲۹۶۷۷ $(D_{\boldsymbol{u}}f)_{N_0}=3\sqrt{3};$

۲۹۶۷۸ $-\boldsymbol{u}=-\frac{1}{3\sqrt{3}}\boldsymbol{i}+\frac{5}{3\sqrt{3}}\boldsymbol{j}+\frac{1}{3\sqrt{3}}\boldsymbol{k},$

۲۹۶۷۹ $(D_{-\boldsymbol{u}}f)_{N_0}=-3\sqrt{3};$

۲۹۶۸۰ (۱۳.۳۳۰) $\boldsymbol{u}=\frac{1}{\sqrt{3}}(\boldsymbol{i}+\boldsymbol{j}+\boldsymbol{k}),\ (D_{\boldsymbol{u}}f)_{N_0}=$

۲۹۶۸۱ $2\sqrt{3};$

۲۹۶۸۲ $-\boldsymbol{u}=-\frac{1}{\sqrt{3}}(\boldsymbol{i}+\boldsymbol{j}+\boldsymbol{k}),$

۲۹۶۸۳ $(D_{-\boldsymbol{u}}f)_{N_0}=-2\sqrt{3};$

۲۹۶۸۴ (۱۳.۳۳۲) $\mathrm{d}f=\frac{9}{910}\approx 0.01$

۲۹۶۸۵ (۱۳.۳۳۴) $\mathrm{d}g=0$

۲۹۶۸۶ (۱۳.۳۳۶) مماس $x+y+z=3$، عمودی خط

۲۹۶۸۷ $x=1+2t,\ y=1+2t,\ z=1+2t$

۲۹۶۸۸ (۱۳.۳۳۸) مماس $2x-z-2=0$، عمودی خط

۲۹۶۸۹ $x=2-4t,\ y=0,\ z=2+2t$

۲۹۶۹۰ (۱۳.۳۴۰) مماس $2x+2y+z-4=0$، عمودی خط

۲۹۶۹۱ $x=2t,\ y=1+2t,\ z=2+t$

۲۹۶۹۲ (۱۳.۳۴۲) مماس $x+y+z-1=0$، عمودی خط

۲۹۶۹۳ $x=t,\ y=1+t,\ z=t$

۲۹۶۹۴ (۱۳.۳۴۴) $2x-z-2=0$

۲۹۶۹۵ (۱۳.۳۴۶) $x-y+2z-1=0$

۲۹۶۹۶ (۱۳.۳۴۸)

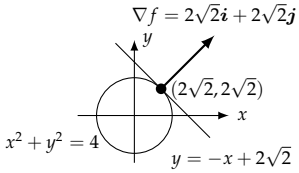

۲۹۶۹۷ (۱۳.۳۵۰)

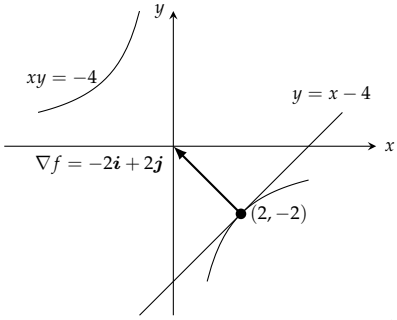

۲۹۶۹۸ (۱۳.۳۵۲) $x=1, y=1+2t, z=1-2t$

۲۹۶۹۹ (۱۳.۳۵۴) $x=1-2t, y=1, z=\frac{1}{2}+2t$

۲۹۷۰۰ (۱۳.۳۵۶) $x=1+90t, y=1-90t, z=3$

۲۹۷۰۱ (۱۳.۳۵۸) $\boldsymbol{u}=\frac{7}{\sqrt{53}}\boldsymbol{i}-\frac{2}{\sqrt{53}}\boldsymbol{j},$

۲۹۷۰۲ $-\boldsymbol{u}=-\frac{7}{\sqrt{53}}\boldsymbol{i}+\frac{2}{\sqrt{53}}\boldsymbol{j}$

۱۳.۳۶۰) نہیں، زیادہ سے زیادہ شرح تبدیلی $\sqrt{185} < 14$ ہے۔

۱۳.۳۶۲) $-\frac{7}{\sqrt{5}}$

۱۳.۳۶۴) (ا) $\frac{\sqrt{3}}{2}\sin\sqrt{3} - \frac{1}{2}\cos\sqrt{3} \approx 0.935\,^\circ\mathrm{C\,m^{-1}}$

(ب) $\sqrt{3}\sin\sqrt{3} - \cos\sqrt{3} \approx 1.87\,^\circ\mathrm{C\,s^{-1}}$

۱۳.۳۶۶) $-\frac{\pi}{4}$ پر $-\frac{\pi}{2\sqrt{2}}$ ؛ 0 پر 0 ؛ $\frac{\pi}{4}$ پر $\frac{\pi}{2\sqrt{2}}$

حصہ ۱۳.۸ صفحہ ۱۳۹۱

۱۳.۳۷۵) $f(-3,3) = -5$ مقامی کم سے کم قیمت نقطہ

۱۳.۳۷۷) $f(\frac{2}{3},\frac{4}{3}) = 0$ مقامی زیادہ سے زیادہ قیمت نقطہ

۱۳.۳۷۹) $f(-2,1)$ نقطہ زین

۱۳.۳۸۱) $f(\frac{6}{5},\frac{69}{25})$ نقطہ زین

۱۳.۳۸۳) $f(2,1)$ نقطہ زین

۱۳.۳۸۵) $f(2,-1) = -6$ مقامی کم سے کم قیمت نقطہ

۱۳.۳۸۷) $f(1,2)$ نقطہ زین

۱۳.۳۸۹) $f(0,0)$ نقطہ زین

۱۳.۳۹۱) $f(0,0)$ نقطہ زین؛ $f(-\frac{2}{3},\frac{2}{3}) = \frac{170}{27}$ مقامی زیادہ سے زیادہ قیمت نقطہ

۱۳.۳۹۳) $f(0,0) = 0$ مقامی کم سے کم قیمت نقطہ؛ $f(1,-1)$ نقطہ زین

۱۳.۳۹۵) $f(0,0)$ نقطہ زین؛ $f(\frac{4}{9},\frac{4}{3}) = -\frac{64}{81}$ مقامی کم سے کم قیمت نقطہ

۱۳.۳۹۷) $f(0,0)$ نقطہ زین؛ $f(0,2) = -12$ مقامی کم سے کم قیمت نقطہ؛ $f(-2,0) = -4$ مقامی زیادہ سے زیادہ قیمت نقطہ؛ $f(-2,2)$ نقطہ زین

۱۳.۳۹۹) $f(0,0)$ نقطہ زین؛ $f(1,1) = 2$ مقامی زیادہ سے زیادہ قیمت نقطہ $f(-1,-1) = 2$

۱۳.۴۰۱) $f(0,0) = -1$ مقامی زیادہ سے زیادہ قیمت نقطہ

۱۳.۴۰۳) $f(n\pi,0)$ نقطہ زین؛ ہر n پر $f(n\pi,0) = 0$

۱۳.۴۰۵) $(0,0)$ پر مطلق زیادہ سے زیادہ قیمت 1 جبکہ $(1,2)$ پر مطلق کم سے کم قیمت -5

۱۳.۴۰۷) $(0,2)$ پر مطلق زیادہ سے زیادہ قیمت 4 جبکہ $(0,0)$ پر مطلق کم سے کم قیمت 0

۱۳.۴۰۹) $(0,-3)$ پر مطلق زیادہ سے زیادہ قیمت 11 جبکہ $(-2,4)$ پر مطلق کم سے کم قیمت -10

۱۳.۴۱۱) $(2,0)$ پر مطلق زیادہ سے زیادہ قیمت 4 جبکہ $(3,-\frac{\pi}{4})$ ، $(3,\frac{\pi}{4})$ ، $(1,-\frac{\pi}{4})$ اور $(1,\frac{\pi}{4})$ پر مطلق کم سے کم قیمت $(\frac{3\sqrt{2}}{2})$

۱۳.۴۱۳) $a = -3,\ b = 2$

۱۳.۴۱۵) $(-\frac{1}{2},\frac{\sqrt{3}}{2})$ اور $(-\frac{1}{2},-\frac{\sqrt{3}}{2})$ پر گرم ترین $2.25\,^\circ\mathrm{C}$ جبکہ $(\frac{1}{2},0)$ پر سرد ترین $-0.25\,^\circ\mathrm{C}$

۱۳.۴۱۷) (ا) $f(0,0)$ نقطہ زین، (ب) $f(1,2)$ مقامی کم سے کم قیمت نقطہ، (ج) $f(1,-2)$ مقامی کم سے کم قیمت نقطہ، (د) $f(-1,-2)$ نقطہ زین

۱۳.۴۲۳) $(\frac{1}{6},\frac{1}{3},\frac{355}{36})$

۱۳.۴۲۷) (ا) نصف دائرہ: $t = \frac{\pi}{4}$ پر مقامی زیادہ سے زیادہ قیمت $f = 2\sqrt{2}$ جبکہ $t = \pi$ پر مقامی کم سے کم قیمت $f = -2$ ؛ چوتھائی دائرہ: $t = \frac{\pi}{4}$ پر مقامی زیادہ سے زیادہ قیمت $f = 2\sqrt{2}$ جبکہ $t = 0$ اور $t = \frac{\pi}{2}$ پر مقامی کم سے کم قیمت $f = 2$ (ب) نصف دائرہ: $t = \frac{\pi}{4}$ پر مقامی زیادہ سے زیادہ قیمت $g = 2$ جبکہ $t = \frac{3\pi}{4}$ پر مقامی کم سے کم قیمت $g = -2$ ؛ چوتھائی دائرہ: $t = \frac{\pi}{4}$ پر مقامی زیادہ سے زیادہ قیمت $g = 2$ جبکہ $t = 0$ اور $t = \frac{\pi}{2}$ پر مقامی کم سے کم قیمت $g = 0$ ؛ (ج) نصف دائرہ: $t = 0$ اور $t = \pi$ پر مقامی زیادہ سے زیادہ قیمت $h = 8$ جبکہ $t = \frac{\pi}{2}$ پر کم سے کم قیمت $h = 4$ ؛ چوتھائی دائرہ: $t = 0$ پر مقامی زیادہ سے زیادہ قیمت $h = 8$ جبکہ $t = \frac{\pi}{2}$ پر مقامی کم سے کم قیمت $h = 4$

۱۳.۴۲۹) (ا) $t = -\frac{1}{2}$ پر کم سے کم قیمت $f = -\frac{1}{2}$ جبکہ کوئی زیادہ سے زیادہ قیمت نہیں پائی جاتی ہے۔ (ب) $t = -1$ اور $t = 0$ پر زیادہ سے زیادہ $f = 0$ جبکہ $t = -\frac{1}{2}$ پر کم سے کم $f = -\frac{1}{2}$ پائی جاتی ہے۔ (ج) $t = 1$ پر زیادہ سے زیادہ $f = 4$ جبکہ $t = 0$ پر کم سے کم قیمت $f = 0$ پائی جاتی ہے۔

۱۳.۴۳۱) $y = -\frac{20}{13}x + \frac{9}{13},\quad y|_{x=4} = -\frac{71}{13}$

۱۳.۴۳۳) $y = \frac{3}{2}x + \frac{1}{6},\quad y|_{x=4} = \frac{37}{6}$

۱۳.۴۳۵) $y = 51.3x + 3467$

حصہ ۱۳.۹ صفحہ ۱۴۰۹

۱۳.۴۴۳) $(\mp\frac{1}{\sqrt{2}},-\frac{1}{2}),(\mp\frac{1}{\sqrt{2}},\frac{1}{2})$

۱۳.۴۴۵) 39

۱۳.۴۴۷) $(3,\mp 3\sqrt{2})$

۱۳.۴۴۹) (ا) 8 ، (ب) 64

۱۳.۴۵۱) $r = 2\,\mathrm{cm},\ h = 4\,\mathrm{cm}$

۱۳.۴۵۳) $l = 4\sqrt{2},\ w = 3\sqrt{2}$

۱۳.۴۵۵) $f(0,0) = 0$ کم سے کم ، $f(2,4) = 20$ زیادہ سے زیادہ

۱۳.۴۵۷) 0° کم سے کم ، 125° زیادہ سے زیادہ

۱۳.۴۵۹) $(\frac{3}{2},2,\frac{5}{2})$

۱۳.۴۶۱) 1

۱۳.۴۶۳) $(0,0,2),\ (0,0,-2)$

۱۳.۴۶۵) $f(-1,2,-5) = -30$ کم سے کم ، $f(1,-2,5) = 30$ زیادہ سے زیادہ

۲۹۷۸۲ (۱۳.۴۶۷ $3, 3, 3$

۲۹۷۸۳ (۱۳.۴۶۹ $\frac{2}{\sqrt{3}}$ ضرب $\frac{2}{\sqrt{3}}$ ضرب $\frac{2}{\sqrt{3}}$ اکائیاں

۲۹۷۸۴ (۱۳.۴۷۱ $(\mp\frac{4}{3}, -\frac{4}{3}, -\frac{4}{3})$

۲۹۷۸۵ (۱۳.۴۷۳ $U(8, 14) = 128$

۲۹۷۸۶ (۱۳.۴۷۵ $f(\frac{2}{3}, \frac{4}{3}, -\frac{4}{3}) = \frac{4}{3}$

۲۹۷۸۷ (۱۳.۴۷۷ $(2, 4, 4)$

۲۹۷۸۸ (۱۳.۴۷۹ $(\mp\sqrt{6}, -\sqrt{3}, 1)$ پر کم سے کم $1 - 6\sqrt{3}$ اور

۲۹۷۸۹ $(\mp\sqrt{6}, \sqrt{3}, 1)$ پر زیادہ سے زیادہ $1 + 6\sqrt{3}$

۲۹۷۹۰ (۱۳.۴۸۱ $(\mp\sqrt{2}, \mp\sqrt{2}, 0)$ پر کم سے کم 2 اور $(0, 0, \mp 2)$

۲۹۷۹۱ پر زیادہ سے زیادہ 4

۲۹۷۹۲ حصہ ۱۳.۱۰ صفحہ ۱۴۱۹

۲۹۷۹۳ (۱۳.۴۹۳ مربعی $x + xy$، کعبی $x + xy + \frac{1}{2}xy^2$

۲۹۷۹۴ (۱۳.۴۹۵ مربعی xy، کعبی xy

۲۹۷۹۵ (۱۳.۴۹۷ مربعی $y + \frac{1}{2}(2xy - y^2)$، کعبی

۲۹۷۹۶ $y + \frac{1}{2}(2xy - y^2) + \frac{1}{6}(3x^2y - 3xy^2 +$

۲۹۷۹۷ $2y^3)$

۲۹۷۹۸ (۱۳.۴۹۹ مربعی $x^2 + y^2$، کعبی $x^2 + y^2$

۲۹۷۹۹ (۱۳.۵۰۱ مربعی $1 + (x + y) + (x + y)^2$، کعبی

۲۹۸۰۰ $1 + (x + y) + (x + y)^2 + (x + y)^3$

۲۹۸۰۱ (۱۳.۵۰۳ مربعی $1 - \frac{1}{2}x^2 - \frac{1}{2}y^2$؛

۲۹۸۰۲ خلل $E(x, y) \leq 0.00134$

۲۹۸۰۳ حصہ ۱۴.۱ صفحہ ۱۴۳۴

۲۹۸۰۴ (۱۴.۱ 16

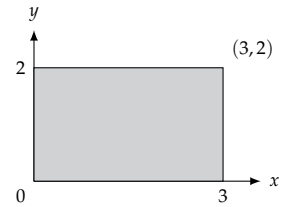

۲۹۸۰۵

۲۹۸۰۶ (۱۴.۳ 1

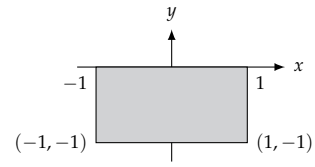

۲۹۸۰۷

۲۹۸۰۸ (۱۴.۵ $\frac{\pi^2}{2} + 2$

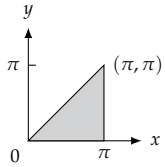

۲۹۸۰۹

۲۹۸۱۰ (۱۴.۷ $8 \ln 8 - 16 + e$

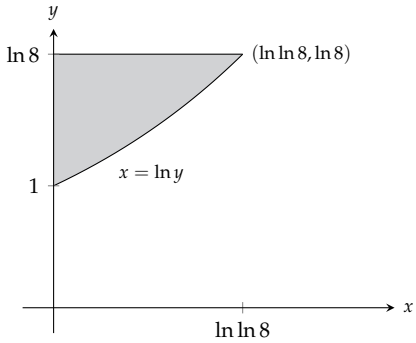

۲۹۸۱۱

۲۹۸۱۲ (۱۴.۹ $e - 2$

۲۹۸۱۳

۲۹۸۱۴

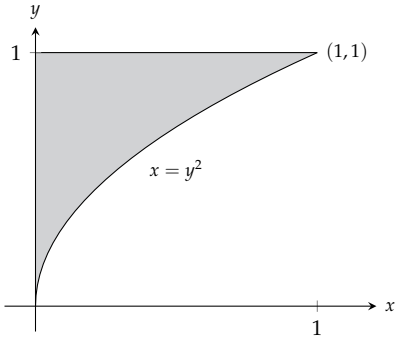

۲۹۸۱۵

۲۹۸۱۶ (۱۴.۱۱ $\frac{3}{2} \ln 2$

۲۹۸۱۷ (۱۴.۱۳ $\frac{1}{6}$

۲۹۸۱۸ (۱۴.۱۵ $-\frac{1}{10}$

۲۹۸۱۹ (۱۴.۱۷ 8

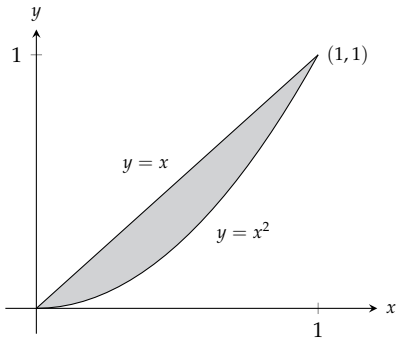

$\int_1^e \int_{\ln y}^1 \mathrm{d}x\,\mathrm{d}y$ (۱۴.۲۵

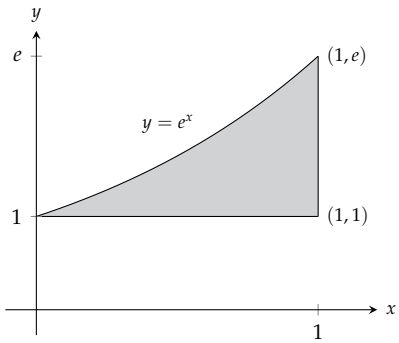

$\int_0^9 \int_0^{(\sqrt{9-y})/2} 16x\,\mathrm{d}x\,\mathrm{d}y$ (۱۴.۲۷

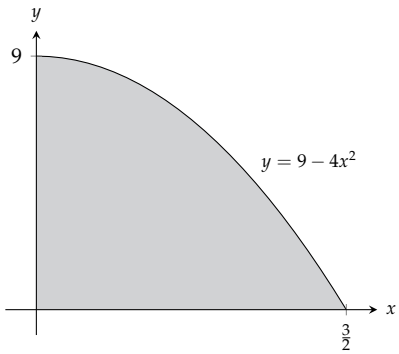

$\int_{-1}^1 \int_0^{\sqrt{1-x^2}} 3y\,\mathrm{d}y\,\mathrm{d}x$ (۱۴.۲۹

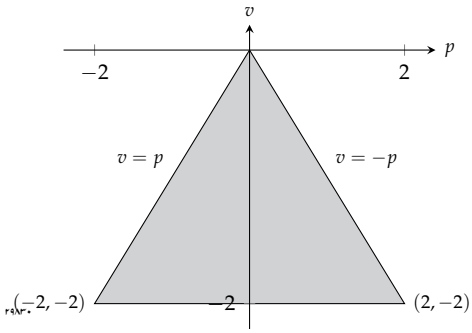

2π (۱۴.۱۹

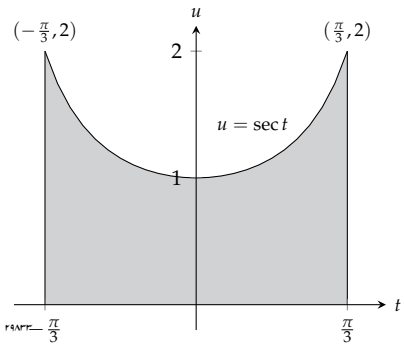

$\int_2^4 \int_0^{(4-y)/2} \mathrm{d}x\,\mathrm{d}y$ (۱۴.۲۱

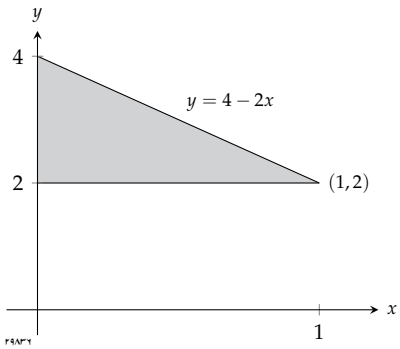

$\int_0^1 \int_{x^2}^x \mathrm{d}y\,\mathrm{d}x$ (۱۴.۲۳

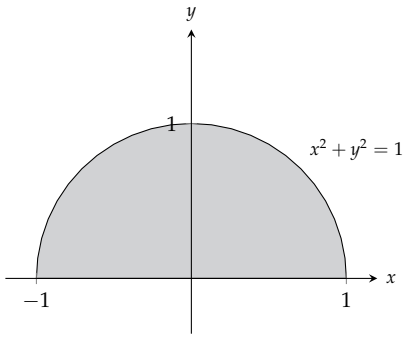

۲۹۸۳۹

۲۹۸۳۸

۲۹۸۴۰ (۱۴.۳۱ 2

۲۹۸۴۱

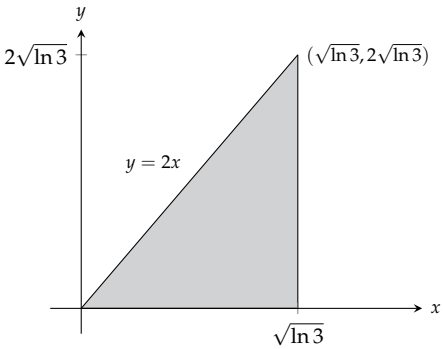

۲۹۸۴۲

۲۹۸۴۳ (۱۴.۳۳ $\frac{e-2}{2}$

۲۹۸۴۴

۲۹۸۴۵

۲۹۸۴۶

۲۹۸۴۷

۲۹۸۴۸ (۱۴.۳۵ 2

۲۹۸۴۹ (۱۴.۳۷ $\frac{1}{80\pi}$

۲۹۸۵۰

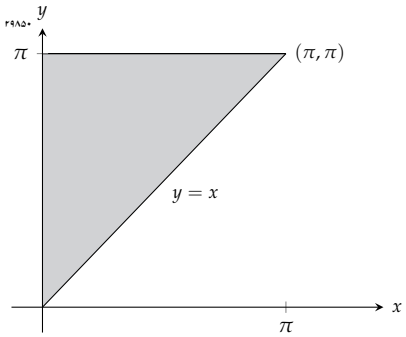

۲۹۸۵۱

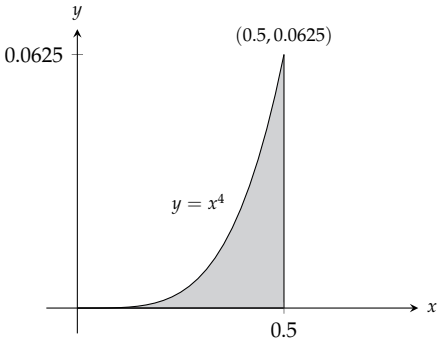

۲۹۸۵۲ (۱۴.۳۹ $-\frac{2}{3}$

۲۹۸۵۳ (۱۴.۴۱ $\frac{4}{3}$

۲۹۸۵۴ (۱۴.۴۳ $\frac{625}{12}$

۲۹۸۵۵ (۱۴.۴۵ 16

۲۹۸۵۶ (۱۴.۴۷ 20

۲۹۸۵۷ (۱۴.۴۹ $2(1 + \ln 2)$

۲۹۸۵۸ (۱۴.۵۱ 1

۲۹۸۵۹ (۱۴.۵۳ π^2

۲۹۸۶۰ (۱۴.۵۵ $-\frac{1}{4}$

۲۹۸۶۱ (۱۴.۵۷ $\frac{20\sqrt{3}}{9}$

۲۹۸۶۲ (۱۴.۵۹ $\int_0^1 \int_x^{2-x} (x^2 + y^2)\, dy\, dx = \frac{4}{3}$

۲۹۸۶۳

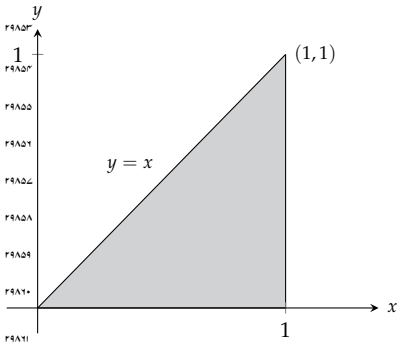

۲۹۸۶۴

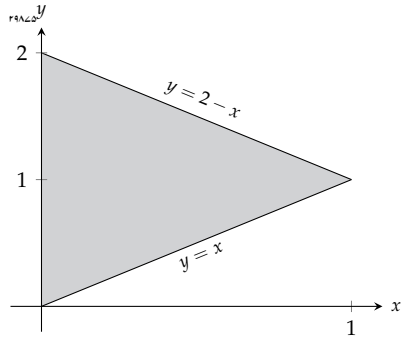

۲۹۸۶۵ ۱۴.۶۷) 0.603

۲۹۸۶۶ ۱۴.۶۹) 0.233

۲۹۸۶۷ حصه ۱۴.۲ صفحه ۱۴۴۸

۲۹۸۶۸ ۱۴.۷۱) $\int_0^2 \int_0^{2-x} \mathrm{d}y\,\mathrm{d}x = 2,\ \int_0^2 \int_0^{2-y} \mathrm{d}x\,\mathrm{d}y =$

۲۹۸۶۹ 2

۲۹۸۷۰

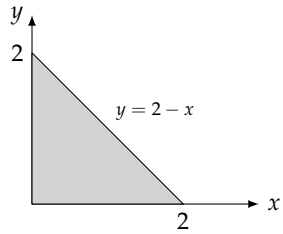

۲۹۸۷۱ ۱۴.۷۳) $\int_{-2}^{1} \int_{y-2}^{-y^2} \mathrm{d}x\,\mathrm{d}y = \frac{9}{2}$

۲۹۸۷۲

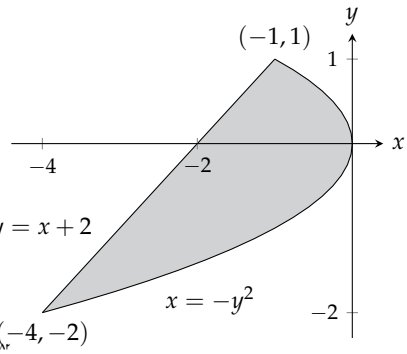

۲۹۸۷۳ ۱۴.۷۵) $\int_0^{\ln 2} \int_0^{e^x} \mathrm{d}y\,\mathrm{d}x = 1$

۲۹۸۷۴

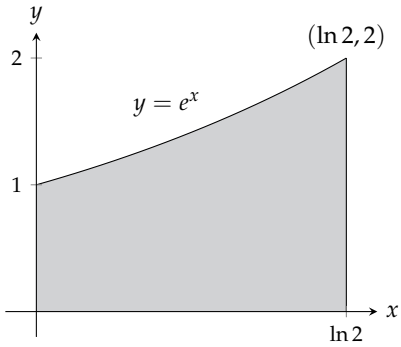

۲۹۸۷۶

۲۹۸۷۷ ۱۴.۷۷) $\int_0^1 \int_{y^2}^{2y-y^2} \mathrm{d}x\,\mathrm{d}y = \frac{1}{3}$

۲۹۸۷۸

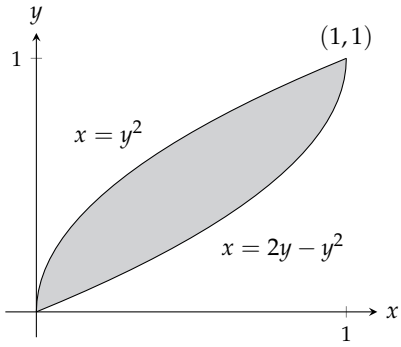

۲۹۸۷۹

۲۹۸۸۰ ۱۴.۷۹) 12

۲۹۸۸۱

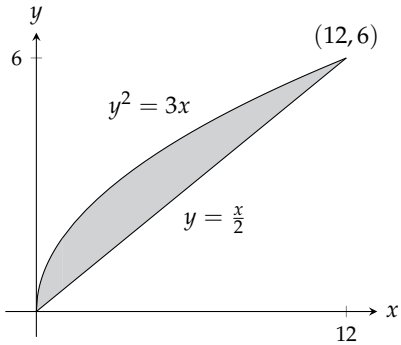

۲۹۸۸۲

۲۹۸۸۳ ۱۴.۸۱) $\sqrt{2} - 1$

۲۹۸۸۳

۲۹۹۰۳ $\frac{3\sqrt{2}}{5}$

۲۹۹۰۴ (۱۴.۱۱۱) $40\,000(1-e^{-2})\ln(\frac{7}{2}) \approx 43\,329$

۲۹۹۰۵ (۱۴.۱۱۳) $0 < a \le \frac{5}{2}$

۲۹۹۰۶ (۱۴.۱۱۵) $(\bar{x}, \bar{y}) = (2/\pi, 0)$

۲۹۹۰۷ (۱۴.۱۱۷) (ا) $\frac{3}{2}$، (ب) ایک سے ہیں۔

۲۹۹۰۸ (۱۴.۱۲۳) (ا) $(\frac{7}{5}, \frac{31}{10})$، (ب) $(\frac{19}{7}, \frac{18}{7})$، (ج) $(\frac{9}{2}, \frac{19}{8})$، (د)

۲۹۹۰۹ $(\frac{11}{4}, \frac{43}{16})$

۲۹۹۱۰ (۱۴.۱۲۵) مشترک سرحد پر ہونے کے لئے $h = a\sqrt{2}$، مثلث کے اندر

۲۹۹۱۱ ہونے کے لئے $h > a\sqrt{2}$

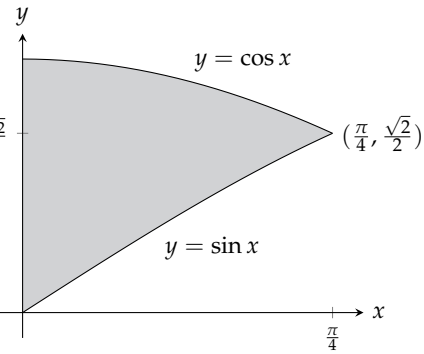

۲۹۹۱۲ حصہ ۱۴.۳ صفحہ ۱۴۵۹

۲۹۸۸۵

۲۹۹۱۳ (۱۴.۱۲۷) $\frac{\pi}{2}$

۲۹۹۱۴ (۱۴.۱۲۹) $\frac{\pi}{8}$

۲۹۹۱۵ (۱۴.۱۳۱) πa^2

۲۹۹۱۶ (۱۴.۱۳۳) 36

۲۹۹۱۷ (۱۴.۱۳۵) $(1-\ln 2)\pi$

۲۹۹۱۸ (۱۴.۱۳۷) $(2\ln 2 - 1)(\pi/2)$

۲۹۹۱۹ (۱۴.۱۳۹) $\frac{\pi}{2} + 1$

۲۹۹۲۰ (۱۴.۱۴۱) $\pi(\ln(4) - 1)$

۲۹۹۲۱ (۱۴.۱۴۳) $2(\pi - 1)$

۲۹۹۲۲ (۱۴.۱۴۵) 12π

۲۹۹۲۳ (۱۴.۱۴۷) $\frac{3\pi}{8} + 1$

۲۹۹۲۴ (۱۴.۱۴۹) 4

۲۹۹۲۵ (۱۴.۱۵۱) $6\sqrt{3} - 2\pi$

۲۹۹۲۶ (۱۴.۱۵۳) $\bar{x} = \frac{5}{6}, \bar{y} = 0$

۲۹۹۲۷ (۱۴.۱۵۵) $\frac{2a}{3}$

۲۹۹۲۸ (۱۴.۱۵۷) $\frac{2a}{3}$

۲۹۹۲۹ (۱۴.۱۵۹) 2π

۲۹۹۳۰ (۱۴.۱۶۱) $\frac{4}{3} + \frac{5\pi}{8}$

۲۹۹۳۱ (۱۴.۱۶۳) (ا) $\sqrt{\pi/2}$، (ب) 1

۲۹۹۳۲ (۱۴.۱۶۵) $\pi \ln 4$ نہیں

۲۹۹۳۳ (۱۴.۱۶۷) $\frac{1}{2}(a^2 + 2h^2)$

۲۹۹۳۴ حصہ ۱۴.۴ صفحہ ۱۴۷۰

۲۹۹۳۵ (۱۴.۱۷۳) 1

۲۹۹۳۶ (۱۴.۱۷۵) $\int_0^1 \int_0^{2-2x} \int_0^{3-3x-3y/2} \mathrm{d}z\,\mathrm{d}y\,\mathrm{d}x,$

۲۹۹۳۷ $\int_0^2 \int_0^{1-y/2} \int_0^{3-3x-3y/2} \mathrm{d}z\,\mathrm{d}x\,\mathrm{d}y,$

۲۹۹۳۸ $\int_0^1 \int_0^{3-3x} \int_0^{2-2x-2z/3} \mathrm{d}y\,\mathrm{d}z\,\mathrm{d}x,$

۲۹۹۳۹ $\int_0^3 \int_0^{1-z/3} \int_0^{2-2x-2z/3} \mathrm{d}y\,\mathrm{d}x\,\mathrm{d}z,$

۲۹۹۴۰ $\int_0^2 \int_0^{3-3y/2} \int_0^{1-y/2-z/3} \mathrm{d}x\,\mathrm{d}z\,\mathrm{d}y,$

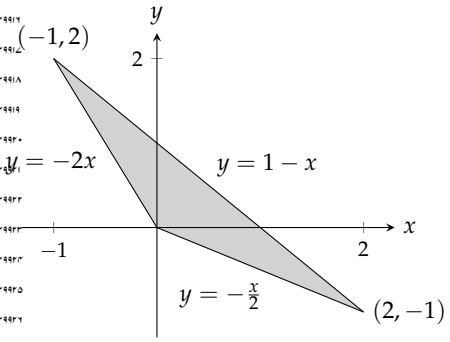

۲۹۸۸۸

۲۹۸۸۹ (۱۴.۸۵) (ا) 0، (ب) $\frac{4}{\pi^2}$

۲۹۸۹۰ (۱۴.۸۷) $\frac{8}{3}$

۲۹۸۹۱ (۱۴.۸۹) $\bar{x} = \frac{5}{14}, \bar{y} = \frac{38}{35}$

۲۹۸۹۲ (۱۴.۹۱) $\bar{x} = \frac{64}{35}, \bar{y} = \frac{5}{7}$

۲۹۸۹۳ (۱۴.۹۳) $\bar{x} = 0, \bar{y} = \frac{4}{3\pi}$

۲۹۸۹۴ (۱۴.۹۵) $\bar{x} = \bar{y} = \frac{4a}{3\pi}$

۲۹۸۹۵ (۱۴.۹۷) $\bar{x} = \frac{\pi}{2}, \bar{y} = \frac{\pi}{8}$

۲۹۸۹۶ (۱۴.۹۹) $\bar{x} = -1, \bar{y} = \frac{1}{4}$

۲۹۸۹۷ (۱۴.۱۰۱) $I_x = \frac{64}{105}, R_x = 2\sqrt{\frac{2}{7}}$

۲۹۸۹۸ (۱۴.۱۰۳) $\bar{x} = \frac{3}{8}, \bar{y} = \frac{17}{16}$

۲۹۸۹۹ (۱۴.۱۰۵) $\bar{x} = \frac{11}{3}, \bar{y} = \frac{14}{27}, I_y = 432, R_y = 4$

۲۹۹۰۰ (۱۴.۱۰۷) $\bar{x} = 0, \bar{y} = \frac{13}{31}, I_y = \frac{7}{5}, R_y = \sqrt{\frac{21}{31}}$

۲۹۹۰۱ (۱۴.۱۰۹) $\bar{x} = 0, \bar{y} = \frac{7}{10}, I_x = \frac{9}{10}, I_y = \frac{3}{10}$

۲۹۹۰۲ $I_0 = \frac{6}{5}, R_x = \frac{3\sqrt{6}}{10}, R_y = \frac{3\sqrt{2}}{10}, R_0 =$

۲۹۹۴۱ $\int_0^3 \int_0^{2-2z/3} \int_0^{1-y/2-z/3} \mathrm{d}x\,\mathrm{d}y\,\mathrm{d}z$ تمام

۲۹۹۴۲ تکملات کا جواب 1 ہے۔

۲۹۹۴۳ $\int_{-2}^{2} \int_{-\sqrt{4-x^2}}^{\sqrt{4-x^2}} \int_{x^2+y^2}^{8-x^2-y^2} 1\,\mathrm{d}z\,\mathrm{d}y\,\mathrm{d}x,$ (۱۴.۱۷۷)

۲۹۹۴۴ $\int_{-2}^{2} \int_{-\sqrt{4-y^2}}^{\sqrt{4-y^2}} \int_{x^2+y^2}^{8-x^2-y^2} 1\,\mathrm{d}z\,\mathrm{d}x\,\mathrm{d}y,$

۲۹۹۴۵ $+ \int_{-2}^{2} \int_{4}^{8-y^2} \int_{-\sqrt{8-z-y^2}}^{\sqrt{8-z-y^2}} 1\,\mathrm{d}x\,\mathrm{d}z\,\mathrm{d}y$

۲۹۹۴۶ $\int_{-2}^{2} \int_{y^2}^{4} \int_{-\sqrt{z-y^2}}^{\sqrt{z-y^2}} 1\,\mathrm{d}x\,\mathrm{d}z\,\mathrm{d}y,$

۲۹۹۴۷ $+ \int_{4}^{8} \int_{-\sqrt{8-z}}^{\sqrt{8-z}} \int_{-\sqrt{8-z-y^2}}^{\sqrt{8-z-y^2}} 1\,\mathrm{d}x\,\mathrm{d}y\,\mathrm{d}z$

۲۹۹۴۸ $\int_{0}^{4} \int_{-\sqrt{z}}^{\sqrt{z}} \int_{-\sqrt{z-y^2}}^{\sqrt{z-y^2}} 1\,\mathrm{d}x\,\mathrm{d}y\,\mathrm{d}z,$

۲۹۹۴۹ $+ \int_{-2}^{2} \int_{4}^{8-x^2} \int_{-\sqrt{8-z-x^2}}^{\sqrt{8-z-x^2}} 1\,\mathrm{d}y\,\mathrm{d}z\,\mathrm{d}x$

۲۹۹۵۰ $\int_{-2}^{2} \int_{x^2}^{4} \int_{-\sqrt{z-x^2}}^{\sqrt{z-x^2}} 1\,\mathrm{d}y\,\mathrm{d}z\,\mathrm{d}x,$

۲۹۹۵۱ $+ \int_{4}^{8} \int_{-\sqrt{8-z}}^{\sqrt{8-z}} \int_{-\sqrt{8-z-x^2}}^{\sqrt{8-z-x^2}} 1\,\mathrm{d}y\,\mathrm{d}x\,\mathrm{d}z$

۲۹۹۵۲ $\int_{0}^{4} \int_{-\sqrt{z}}^{\sqrt{z}} \int_{-\sqrt{z-x^2}}^{\sqrt{z-x^2}} 1\,\mathrm{d}y\,\mathrm{d}x\,\mathrm{d}zS$ تمام تکملات

۲۹۹۵۳ کا جواب 16π ہے۔

۲۹۹۵۴ (۱۴.۱۷۹) 1

۲۹۹۵۵ (۱۴.۱۸۱) 1

۲۹۹۵۶ (۱۴.۱۸۳) $\frac{\pi^3}{2}(1-\cos 1)$

۲۹۹۵۷ (۱۴.۱۸۵) 18

۲۹۹۵۸ (۱۴.۱۸۷) $\frac{7}{6}$

۲۹۹۵۹ (۱۴.۱۸۹) 0

۲۹۹۶۰ (۱۴.۱۹۱) $\frac{1}{2} - \frac{\pi}{8}$

۲۹۹۶۱ (۱۴.۱۹۳) ا. $\int_{-1}^{1} \int_{0}^{1-x^2} \int_{x^2}^{1-z} \mathrm{d}y\,\mathrm{d}z\,\mathrm{d}x$

۲۹۹۶۲ ب. $\int_{0}^{1} \int_{-\sqrt{1-z}}^{\sqrt{1-z}} \int_{x^2}^{1-z} \mathrm{d}y\,\mathrm{d}x\,\mathrm{d}z$

۲۹۹۶۳ ج. $\int_{0}^{1} \int_{0}^{1-z} \int_{-\sqrt{y}}^{\sqrt{y}} \mathrm{d}y\,\mathrm{d}z\,\mathrm{d}x$

۲۹۹۶۴ د. $\int_{0}^{1} \int_{0}^{1-y} \int_{-\sqrt{y}}^{\sqrt{y}} \mathrm{d}x\,\mathrm{d}z\,\mathrm{d}y$

۲۹۹۶۵ ھ. $\int_{0}^{1} \int_{-\sqrt{y}}^{\sqrt{y}} \int_{0}^{1-y} \mathrm{d}z\,\mathrm{d}x\,\mathrm{d}y$

۲۹۹۶۶ (۱۴.۱۹۵) $\frac{2}{3}$

۲۹۹۶۷ (۱۴.۱۹۷) $\frac{20}{3}$

۲۹۹۶۸ (۱۴.۱۹۹) 1

۲۹۹۶۹ (۱۴.۲۰۱) $\frac{16}{3}$

۲۹۹۷۰ (۱۴.۲۰۳) $8\pi - \frac{32}{3}$

۲۹۹۷۱ (۱۴.۲۰۵) 2

۲۹۹۷۲ (۱۴.۲۰۷) 4π

۲۹۹۷۳ (۱۴.۲۰۹) $\frac{31}{3}$

۲۹۹۷۴ (۱۴.۲۱۱) 1

۲۹۹۷۵ (۱۴.۲۱۳) $2\sin 4$

۲۹۹۷۶ (۱۴.۲۱۵) 4

۲۹۹۷۷ (۱۴.۲۱۷) $a = 3$ یا $a = \frac{13}{3}$

۲۹۹۷۸ حصہ ۱۴.۶ صفحہ ۱۴۹۴

۲۹۹۷۹ (۱۴.۲۵۳) $\frac{4\pi(\sqrt{2}-1)}{3}$

۲۹۹۸۰ (۱۴.۲۵۵) $\frac{17\pi}{5}$

۲۹۹۸۱ (۱۴.۲۵۷) $\pi(6\sqrt{2}-8)$

۲۹۹۸۲ (۱۴.۲۵۹) $\frac{3\pi}{10}$

۲۹۹۸۳ (۱۴.۲۶۱) $\frac{\pi}{3}$

۲۹۹۸۴ (۱۴.۲۶۳) ا) $\int_{0}^{2\pi} \int_{0}^{1} \int_{0}^{\sqrt{4-\rho^2}} \rho\,\mathrm{d}z\,\mathrm{d}\rho\,\mathrm{d}\phi$

۲۹۹۸۵ ب) $\int_{0}^{2\pi} \int_{0}^{\sqrt{3}} \int_{0}^{1} \rho\,\mathrm{d}\rho\,\mathrm{d}z\,\mathrm{d}\phi + \int_{0}^{2\pi} \int_{\sqrt{3}}^{2} \int_{0}^{\sqrt{4-z^2}} \rho\,\mathrm{d}\rho\,\mathrm{d}z\,\mathrm{d}\phi$

۲۹۹۸۶ ج) $\int_{0}^{1} \int_{0}^{\sqrt{4-\rho^2}} \int_{0}^{2\pi} \rho\,\mathrm{d}\phi\,\mathrm{d}z\,\mathrm{d}\rho$

۲۹۹۸۷ (۱۴.۲۶۵) $\int_{-\pi/2}^{\pi/2} \int_{0}^{\cos\phi} \int_{0}^{3\rho^2} F(\rho,\phi,z)\rho\,\mathrm{d}z\,\mathrm{d}\rho\,\mathrm{d}\phi$

۲۹۹۸۸ (۱۴.۲۶۷) $\int_{0}^{\pi} \int_{0}^{2\sin\phi} \int_{0}^{4-\rho\sin\phi} F(\rho,\phi,z)\,\mathrm{d}z\,\rho\,\mathrm{d}\rho\,\mathrm{d}\phi$

۲۹۹۸۹ (۱۴.۲۶۹) $\int_{-\pi/2}^{\pi/2} \int_{1}^{1+\cos\phi} \int_{0}^{4} F(\rho,\phi,z)\,\mathrm{d}z\,\rho\,\mathrm{d}\rho\,\mathrm{d}\phi$

۲۹۹۹۰ (۱۴.۲۷۱) $\int_{0}^{\pi/4} \int_{0}^{\sec\phi} \int_{0}^{2-\rho\sin\phi} F(\rho,\phi,z)\,\mathrm{d}z\,\rho\,\mathrm{d}\rho\,\mathrm{d}\phi$

۲۹۹۹۱ (۱۴.۲۷۳) π^2

۲۹۹۹۲ (۱۴.۲۷۵) $\pi/3$

۲۹۹۹۳ (۱۴.۲۷۷) 5π

۲۹۹۹۴ (۱۴.۲۷۹) 2π

۲۹۹۹۵ (۱۴.۲۸۱) $(\frac{8-5\sqrt{2}}{2})\pi$

۲۹۹۹۶ (۱۴.۲۸۳) ا) $+ \int_{0}^{2\pi} \int_{0}^{\pi/6} \int_{0}^{2} r^2 \sin\theta\,\mathrm{d}r\,\mathrm{d}\theta\,\mathrm{d}\phi$

۲۹۹۹۷ $\int_{0}^{2\pi} \int_{\pi/6}^{\pi/2} \int_{0}^{\csc\theta} r^2 \sin\theta\,\mathrm{d}r\,\mathrm{d}\theta\,\mathrm{d}\phi$

۲۹۹۹۸ ب) $\int_{0}^{2\pi} \int_{1}^{2} \int_{\pi/6}^{\sin^{-1}(1/r)} r^2 \sin\theta\,\mathrm{d}\theta\,\mathrm{d}r\,\mathrm{d}\phi +$

۲۹۹۹۹ $\int_{0}^{2\pi} \int_{0}^{2} \int_{0}^{\pi/6} r^2 \sin\theta\,\mathrm{d}\theta\,\mathrm{d}r\,\mathrm{d}\phi$

۳۰۰۰۰ (۱۴.۲۸۵) $= \int_{0}^{2\pi} \int_{0}^{\pi/2} \int_{\cos\theta}^{2} r^2 \sin\theta\,\mathrm{d}r\,\mathrm{d}\theta\,\mathrm{d}\phi$

۳۰۰۰۱ $\frac{31\pi}{6}$

۳۰۰۰۲ (۱۴.۲۸۷) $= \int_{0}^{2\pi} \int_{0}^{\pi} \int_{0}^{1-\cos\theta} r^2 \sin\theta\,\mathrm{d}r\,\mathrm{d}\theta\,\mathrm{d}\phi$

۳۰۰۰۳ $\frac{8\pi}{3}$

۳۰۰۰۴ (۱۴.۲۸۹) $= \int_{0}^{2\pi} \int_{\pi/4}^{\pi/2} \int_{0}^{2\cos\theta} r^2 \sin\theta\,\mathrm{d}r\,\mathrm{d}\theta\,\mathrm{d}\phi$

۳۰۰۰۵ $\frac{\pi}{3}$

۳۰۰۰۶ (۱۴.۲۹۱) ا) $8\int_{0}^{\pi/2} \int_{0}^{\pi/2} \int_{0}^{2} r^2 \sin\theta\,\mathrm{d}r\,\mathrm{d}\theta\,\mathrm{d}\phi$

۳۰۰۰۷ ب) $8\int_{0}^{\pi/2} \int_{0}^{2} \int_{0}^{\sqrt{4-\rho^2}} \rho\,\mathrm{d}z\,\mathrm{d}\rho\,\mathrm{d}\phi$

۳۰۰۰۸ ج) $8\int_{0}^{2} \int_{0}^{\sqrt{4-x^2}} \int_{0}^{\sqrt{4-x^2-y^2}} \mathrm{d}z\,\mathrm{d}y\,\mathrm{d}x$

۳۰۰۰۹ (۱۴.۲۹۳) (ا) $\int_0^{2\pi}\int_0^{\pi/3}\int_{\sec\theta}^{2} r^2\sin\theta\,\mathrm{d}r\,\mathrm{d}\theta\,\mathrm{d}\phi$

۳۰۰۱۰ (ب) $\int_0^{2\pi}\int_0^{\sqrt{3}}\int_1^{\sqrt{4-\rho^2}} \rho\,\mathrm{d}z\,\mathrm{d}\rho\,\mathrm{d}\phi$

۳۰۰۱۱ (ج) $\int_{-\sqrt[4]{3}}^{\sqrt[4]{3}}\int_{-\sqrt{3-x^2}}^{\sqrt{3-x^2}}\int_1^{\sqrt{4-x^2-y^2}} \mathrm{d}z\,\mathrm{d}y\,\mathrm{d}x$

۳۰۰۱۲ (د) $\frac{5\pi}{3}$

۳۰۰۱۳ (۱۴.۲۹۵) $8\pi/3$

۳۰۰۱۴ (۱۴.۲۹۷) $9/4$

۳۰۰۱۵ (۱۴.۲۹۹) $(3\pi-4)/18$

۳۰۰۱۶ (۱۴.۳۰۱) $\frac{2\pi a^3}{3}$

۳۰۰۱۷ (۱۴.۳۰۳) $\frac{5\pi}{3}$

۳۰۰۱۸ (۱۴.۳۰۵) $\pi/2$

۳۰۰۱۹ (۱۴.۳۰۷) $\frac{4(2\sqrt{2}-1)\pi}{3}$

۳۰۰۲۰ (۱۴.۳۰۹) 16π

۳۰۰۲۱ (۱۴.۳۱۱) $5\pi/2$

۳۰۰۲۲ (۱۴.۳۱۳) $\frac{4\pi(8-3\sqrt{3})}{3}$

۳۰۰۲۳ (۱۴.۳۱۵) $2/3$

۳۰۰۲۴ (۱۴.۳۱۷) $3/4$

۳۰۰۲۵ (۱۴.۳۱۹) $\bar{x}=\bar{y}=0,\ \bar{z}=3/8$

۳۰۰۲۶ (۱۴.۳۲۱) $(\bar{x},\bar{y},\bar{z})=(0,0,3/8)$

۳۰۰۲۷ (۱۴.۳۲۳) $\bar{x}=\bar{y}=0,\ \bar{z}=5/6$

۳۰۰۲۸ (۱۴.۳۲۵) $I_z=30\pi,\ R_z=\sqrt{\frac{5}{2}}$

۳۰۰۲۹ (۱۴.۳۲۷) $I_x=\pi/4$

۳۰۰۳۰ (۱۴.۳۲۹) $\frac{a^4h\pi}{10}$

۳۰۰۳۱ (۱۴.۳۳۱) (ا) $(\bar{x},\bar{y},\bar{z})=(0,0,4/5),\ I_z=\pi/12$

۳۰۰۳۲ (ب) $(\bar{x},\bar{y},\bar{z})=(0,0,5/6)$، $R_z=\sqrt{1/3}$

۳۰۰۳۳ $I_z=\pi/14,\ R_z=\sqrt{5/14}$

۳۰۰۳۴ (۱۴.۳۳۵) $(\bar{x},\bar{y},\bar{z})=(0,0,\frac{2h^2+3h}{3h+6})$

۳۰۰۳۵ $I_z=\frac{\pi a^4(h^2+2h)}{4},\ R_z=\frac{a}{\sqrt{2}}$

۳۰۰۳۶ (۱۴.۳۳۷) $\frac{3M}{\pi R^3}$

۳۰۰۳۷ حصہ ۱۴.۷ صفحہ ۱۵۱۳

۳۰۰۳۸ (۱۴.۳۳۸) (ا) $x=\frac{u+v}{3},\ y=\frac{v-2u}{3};\ \frac{1}{3}$

۳۰۰۳۹ (ب) تکونی خطہ جس کی سرحدیں $u=0$ ، $v=0$ اور

۳۰۰۴۰ $u+v=3$ ہیں۔

۳۰۰۴۱ (۱۴.۳۴۰) (ا) $x=\frac{1}{5}(2u-v),\ y=\frac{1}{10}(3v-u);\ \frac{1}{10}$

۳۰۰۴۲ (ب) تکونی خطہ جس کی سرحدیں $3v=u$ ، $v=2u$ اور

۳۰۰۴۳ $3u+v=10$ ہیں۔

۳۰۰۴۴ (۱۴.۳۴۲) (ا) $\begin{vmatrix}\cos v & -u\sin v\\ \sin v & u\cos v\end{vmatrix}=u$

۳۰۰۴۵ (ب) $\begin{vmatrix}\sin v & u\cos v\\ \cos v & -u\sin v\end{vmatrix}=-u$

۳۰۰۴۶ (۱۴.۳۴۶) $\frac{64}{5}$

۳۰۰۴۷ (۱۴.۳۴۸) $\int_1^2\int_1^3(u+v)\frac{2u}{v}\,\mathrm{d}u\,\mathrm{d}v=8+\frac{52}{3}\ln 2$

۳۰۰۴۸ (۱۴.۳۵۰) $\frac{\pi ab(a^2+b^2)}{4}$

۳۰۰۴۹ (۱۴.۳۵۲) $\frac{1}{3}(1+\frac{3}{e^2})\approx 0.4687$

۳۰۰۵۰ (۱۴.۳۵۶) $\frac{4\pi abc}{3}$

۳۰۰۵۱ (۱۴.۳۵۸) $\int_0^3\int_0^2\int_1^2(\frac{v}{3}+\frac{vw}{3u})\,\mathrm{d}u\,\mathrm{d}v\,\mathrm{d}w = 2+\ln 8$

۳۰۰۵۲ حصہ ۱۵.۱ صفحہ ۱۵۲۳

۳۰۰۵۳ (۱۵.۱) شکل ۱۵.۸

۳۰۰۵۴ (۱۵.۲) شکل ۱۵.۱۰

۳۰۰۵۵ (۱۵.۳) شکل ۱۵.۶

۳۰۰۵۶ (۱۵.۴) شکل ۱۵.۱۳

۳۰۰۵۷ (۱۵.۵) شکل ۱۵.۹

۳۰۰۵۸ (۱۵.۶) شکل ۱۵.۱۱

۳۰۰۵۹ (۱۵.۷) شکل ۱۵.۷

۳۰۰۶۰ (۱۵.۸) شکل ۱۵.۱۲

۳۰۰۶۱ (۱۵.۹) $\sqrt{2}$

۳۰۰۶۲ (۱۵.۱۱) $\frac{13}{2}$

۳۰۰۶۳ (۱۵.۱۳) $3\sqrt{14}$

۳۰۰۶۴ (۱۵.۱۵) $\frac{1}{6}(5\sqrt{5}+9)$

۳۰۰۶۵ (۱۵.۱۷) $\sqrt{3}\ln\frac{b}{a}$

۳۰۰۶۶ (۱۵.۱۹) $\frac{10\sqrt{5}-2}{3}$

۳۰۰۶۷ (۱۵.۲۱) 8

۳۰۰۶۸ (۱۵.۲۳) $2\sqrt{2}-1$

۳۰۰۶۹ (۱۵.۲۵) (ا) $4\sqrt{2}-1$ ، (ب) $\sqrt{2}+\ln(1+\sqrt{2})$

۳۰۰۷۰ (۱۵.۲۷) $I_z=2\pi\delta a^3$ ، $R_z=a$

۳۰۰۷۱ (۱۵.۲۹) (ا) $I_z=2\pi\sqrt{2}\delta$ ، $R_z=1$ ؛

۳۰۰۷۲ (ب) $I_z=4\pi\sqrt{2}\delta$ ، $R_z=1$

۳۰۰۷۳ (۱۵.۳۱) $I_z=2\pi-2$ ، $R_z=1$

۳۰۰۷۴ حصہ ۱۵.۲ صفحہ ۱۵۳۶

۳۰۰۷۵ (۱۵.۳۷) $\nabla f=\frac{-x\boldsymbol{i}-y\boldsymbol{j}-z\boldsymbol{k}}{(x^2+y^2+z^2)^{3/2}}$

۳۰۰۷۶ (۱۵.۳۹) $\nabla g=-\frac{2x}{x^2+y^2}\boldsymbol{i}-\frac{2y}{x^2+y^2}\boldsymbol{j}+e^z\boldsymbol{k}$

۳۰۰۷۷ (۱۵.۴۱) $\boldsymbol{F}=\frac{-kx}{(x^2+y^2)^{3/2}}\boldsymbol{i}-\frac{ky}{(x^2+y^2)^{3/2}}\boldsymbol{j},k>0$

۳۰۰۷۸ (۱۵.۴۳) (ا) $\frac{9}{2}$ ، (ب) $\frac{13}{3}$ ، (ج) $\frac{9}{2}$

۳۰۰۷۹ (۱۵.۴۵) (ا) $\frac{1}{3}$ ، (ب) $-\frac{1}{5}$ ، (ج) 0

۳۰۰۸۰ (۱۵.۴۷) (ا) 2 ، (ب) $\frac{3}{2}$ ، (ج) $\frac{1}{2}$

۳۰۰۸۱ (۱۵.۴۹) $\frac{1}{2}$

۳۰۰۸۲ (۱۵.۵۱) $-\pi$

۳۰۰۸۴ (۱۵.۵۳ $\frac{207}{12}$

۳۰۰۸۵ (۱۵.۵۵ $-\frac{39}{2}$

۳۰۰۸۶ (۱۵.۵۷ $\frac{25}{6}$

۳۰۰۸۷ (۱۵.۵۹ (ا)دائری بہاؤ اول 0 ، دائری بہاؤ دوم 2π ، بہاؤ اول 2π ،بہاؤ

۳۰۰۸۸ دوم 0 ؛(ب)دائری بہاؤ اول 0 ، دائری بہاؤ دوم 8π ، بہاؤ اول

۳۰۰۸۹ 8π ، بہاؤ دوم 0

۳۰۰۹۰ (۱۵.۶۱ دائری بہاؤ 0 ، بہاؤ $a^2\pi$

۳۰۰۹۱ (۱۵.۶۳ دائری بہاؤ $a^2\pi$ ، بہاؤ 0

۳۰۰۹۲ (۱۵.۶۵ (ا) $-\frac{\pi}{2}$ ،(ب) 0 ،(ج) 1

۳۰۰۹۳ (۱۵.۶۷

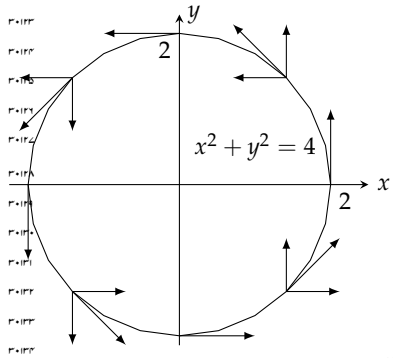

۳۰۰۹۴

۳۰۰۹۵ (۱۵.۶۹ (ا) $\boldsymbol{G} = -y\boldsymbol{i} + x\boldsymbol{j}$ ،

۳۰۰۹۶ (ب) $\boldsymbol{G} = \sqrt{x^2+y^2}\boldsymbol{F}$

۳۰۰۹۷ (۱۵.۷۱ $\boldsymbol{F} = \frac{-x\boldsymbol{i}-y\boldsymbol{j}}{\sqrt{x^2+y^2}}$

۳۰۰۹۸ (۱۵.۷۳ 48

۳۰۰۹۹ (۱۵.۷۵ π

۳۰۱۰۰ (۱۵.۷۷ 0

۳۰۱۰۱ (۱۵.۷۹ $\frac{1}{2}$

۳۰۱۰۲ حصہ ۱۵.۳ صفحہ ۱۵۵۱

۳۰۱۰۳ (۱۵.۸۹ بقائی

۳۰۱۰۴ (۱۵.۹۱ غیر بقائی

۳۰۱۰۵ (۱۵.۹۳ غیر بقائی

۳۰۱۰۶ (۱۵.۹۵ $f(x,y,z) = x^2 + \frac{3y^2}{2} + 2z^2 + C$

۳۰۱۰۷ (۱۵.۹۷ $f(x,y,z) = xe^{y+2z} + C$

۳۰۱۰۸ (۱۵.۹۹ $f(x,y,z) = x\ln x - x + \tan(x+y) +$

۳۰۱۰۹ $\frac{1}{2}\ln(y^2+z^2) + C$

۳۰۱۱۰ (۱۵.۱۰۱ 49

۳۰۱۱۱ (۱۵.۱۰۳ -16

۳۰۱۱۲ (۱۵.۱۰۵ 1

۳۰۱۱۳ (۱۵.۱۰۷ $9\ln 2$

۳۰۱۱۴ (۱۵.۱۰۹ 0

۳۰۱۱۵ (۱۵.۱۱۱ -3

۳۰۱۱۶ (۱۵.۱۱۵ $\boldsymbol{F} = \nabla(\frac{x^2-1}{y})$

۳۰۱۱۷ (۱۵.۱۱۷ (ا) 1 ،(ب) 1 ،(ج) 1

۳۰۱۱۸ (۱۵.۱۱۹ (ا) 2 ،(ب) 2

۳۰۱۱۹ (۱۵.۱۲۱ $f(x,y,z) = \frac{GmM}{(x^2+y^2+z^2)^{1/2}}$

۳۰۱۲۰ (۱۵.۱۲۳ (ا) $c = b = 2a$ ،(ب) $c = b = 2$

۳۰۱۲۱ (۱۵.۱۲۵ چونکہ میدان بقائی ہے لہٰذا کام راہ پر منحصر نہیں ہوگا۔

۳۰۱۲۲ حصہ ۱۵.۴ صفحہ ۱۵۶۹

۳۰۱۲۳ (۱۵.۱۲۷ بہاؤ 0 ،دائری بہاؤ $2\pi a^2$

۳۰۱۲۴ (۱۵.۱۲۹ بہاؤ $-\pi a^2$ ،دائری بہاؤ 0

۳۰۱۲۵ (۱۵.۱۳۱ بہاؤ 2 ،دائری بہاؤ 0

۳۰۱۲۶ (۱۵.۱۳۳ بہاؤ -9 ،دائری بہاؤ 9

۳۰۱۲۷ (۱۵.۱۳۵ بہاؤ $\frac{1}{2}$ ،دائری بہاؤ $\frac{1}{2}$

۳۰۱۲۸ (۱۵.۱۳۷ بہاؤ $\frac{1}{5}$ ،دائری بہاؤ $-\frac{1}{12}$

۳۰۱۲۹ (۱۵.۱۳۹ 0

۳۰۱۳۰ (۱۵.۱۴۱ $\frac{2}{33}$

۳۰۱۳۱ (۱۵.۱۴۳ 0

۳۰۱۳۲ (۱۵.۱۴۵ -16π

۳۰۱۳۳ (۱۵.۱۴۷ πa^2

۳۰۱۳۴ (۱۵.۱۴۹ $\frac{3}{8}\pi$

۳۰۱۳۵ (۱۵.۱۵۱ (ا) 0 ،(ب) $(h-k)$ (خطے کا رقبہ)

۳۰۱۳۶ (۱۵.۱۶۱ (ا) 0

۳۰۱۳۷ حصہ ۱۵.۵ صفحہ ۱۵۸۷

۳۰۱۳۸ (۱۵.۱۷۱ $\frac{13}{3}\pi$

۳۰۱۳۹ (۱۵.۱۷۳ 4

۳۰۱۴۰ (۱۵.۱۷۵ $6\sqrt{6} - 2\sqrt{2}$

۳۰۱۴۱ (۱۵.۱۷۷ $\pi\sqrt{c^2+1}$

۳۰۱۴۲ (۱۵.۱۷۹ $\frac{\pi}{6}(17\sqrt{17} - 5\sqrt{5})$

۳۰۱۴۳ (۱۵.۱۸۱ $3 + 2\ln 2$

۳۰۱۴۴ (۱۵.۱۸۳ $9a^3$

۳۰۱۴۵ (۱۵.۱۸۵ $\frac{abc}{4}(ab+ac+bc)$

۳۰۱۴۶ (۱۵.۱۸۷ 2

۳۰۱۴۷ (۱۵.۱۸۹ 18

۳۰۱۴۸ (۱۵.۱۹۱ $\frac{\pi a^3}{6}$

۳۰۱۴۹ (۱۵.۱۹۳ $\frac{\pi a^2}{4}$

۳۰۱۵۰ (۱۵.۱۹۵ $\frac{\pi a^3}{2}$

۳۰۱۵۱ (۱۵.۱۹۷ -32

۳۰۱۵۲ (۱۵.۱۹۹ -4

۳۰۱۵۳ (۱۵.۲۰۱ $3a^4$

۳۰۱۵۴ (۱۵.۲۰۳ $(\frac{a}{2}, \frac{a}{2}, \frac{a}{2})$

(۱۵.۲۰۵) $(\bar{x}, \bar{y}, \bar{z}) = (0, 0, \frac{14}{9}), I_z = \frac{15\pi\sqrt{2}}{2}\delta,$

$R_z = \frac{\sqrt{10}}{2}$

(۱۵.۲۰۷) ا) $\frac{8\pi}{3}a^4\delta$ (ب، $\frac{20\pi}{3}a^4\delta$

(۱۵.۲۰۹) $\frac{\pi}{6}(13\sqrt{13} - 1)$

(۱۵.۲۱۱) $5\pi\sqrt{2}$

(۱۵.۲۱۳) $\frac{2}{3}(5\sqrt{5} - 1)$

حصہ ۱۵.۶ صفحہ ۱۶۰۳

(۱۵.۲۱۵) $\boldsymbol{r}(r, \phi) = r\cos\phi\boldsymbol{i} + r\sin\phi\boldsymbol{j} + r^2\boldsymbol{k},$
$0 \le r \le 2, 0 \le \phi \le 2\pi$

(۱۵.۲۱۷) $\boldsymbol{r}(r, \phi) = r\cos\phi\boldsymbol{i} + r\sin\phi\boldsymbol{j} + r/2\boldsymbol{k},$
$0 \le r \le 6, 0 \le \phi \le \pi/2$

(۱۵.۲۱۹) $\boldsymbol{r}(r, \phi) = r\cos\phi\boldsymbol{i} + r\sin\phi\boldsymbol{j} + \sqrt{9 - r^2}\boldsymbol{k}, 0 \le r \le 3/\sqrt{2}, 0 \le \phi \le 2\pi$

یا

$\boldsymbol{r}(\theta, \phi) = 3\sin\theta\cos\phi\boldsymbol{i} + 3\sin\theta\sin\phi\boldsymbol{j} + 3\cos\theta\boldsymbol{k},$
$0 \le \theta \le \pi/4, 0 \le \phi \le 2\pi$

(۱۵.۲۲۱) $\boldsymbol{r}(\theta, \phi) = \sqrt{3}\sin\theta\cos\phi\boldsymbol{i} + \sqrt{3}\sin\theta\sin\phi\boldsymbol{j} + \sqrt{3}\cos\phi\boldsymbol{k},$
$\pi/3 \le \theta \le \pi/4, 0 \le \phi \le 2\pi$

(۱۵.۲۲۳) $\boldsymbol{r}(x, y) = x\boldsymbol{i} + y\boldsymbol{j} + (4 - y^2)\boldsymbol{k},$
$0 \le x \le 2, -2 \le y \le 2$

(۱۵.۲۲۵) $\boldsymbol{r}(u, v) = u\boldsymbol{i} + 3\cos v\boldsymbol{j} + 3\sin v\boldsymbol{k},$
$0 \le u \le 3, 0 \le v \le 2\pi$

(۱۵.۲۲۷) ا) $\boldsymbol{r}(r, \phi) = r\cos\phi\boldsymbol{i} + r\sin\phi\boldsymbol{j} + (1 - r\cos\phi - r\sin\phi)\boldsymbol{k},$
$0 \le r \le 3, 0 \le \phi \le 2\pi$

(ب) $\boldsymbol{r}(u, v) = (1 - u\cos v - u\sin v)\boldsymbol{i} + u\cos v\boldsymbol{j} + u\sin v\boldsymbol{k}$
$0 \le u \le 3, 0 \le v \le 2\pi$

(۱۵.۲۲۹) $\boldsymbol{r}(u, v) = 4\cos^2 v\boldsymbol{i} + u\boldsymbol{j} + 4\cos v\sin v\boldsymbol{k}$
$0 \le u \le 3, -\pi/2 \le v \le \pi/2$

دوسرا طریقہ

$\boldsymbol{r}(u, v) = (2 + 2\cos v)\boldsymbol{i} + u\boldsymbol{j}$
$2\sin v\boldsymbol{k}, 0 \le u \le 3, 0 \le v \le 2\pi$

(۱۵.۲۳۱) $\int_0^{2\pi}\int_0^1 \frac{\sqrt{5}}{2}r\,\mathrm{d}r\,\mathrm{d}\phi = \frac{\pi\sqrt{5}}{2}$

(۱۵.۲۳۳) $\int_0^{2\pi}\int_0^3 r\sqrt{5}\,\mathrm{d}r\,\mathrm{d}\phi = 8\pi\sqrt{5}$

(۱۵.۲۳۵) $\int_0^{2\pi}\int_0^4 1\,\mathrm{d}u\,\mathrm{d}v = 6\pi$

(۱۵.۲۳۷) $\int_0^{2\pi}\int_0^1 u\sqrt{4u^2 + 1}\,\mathrm{d}u\,\mathrm{d}v = \frac{5\sqrt{5}-1}{6}\pi$

(۱۵.۲۳۹) $\int_0^{2\pi}\int_{\pi/4}^{\pi} 2\sin\theta\,\mathrm{d}\theta\,\mathrm{d}\phi = (4 + 2\sqrt{2})\pi$

(۱۵.۲۴۱) $\int_S x\,\mathrm{d}\sigma = \int_0^3\int_0^2 u\sqrt{4u^2 + 1}\,\mathrm{d}u\,\mathrm{d}v = \frac{17\sqrt{17}-1}{4}$

(۱۵.۲۴۳) $\iint_S x^2\,\mathrm{d}\sigma = \int_0^{2\pi}\int_0^{\pi}\sin^3\theta \cdot \cos^2\phi\,\mathrm{d}\theta\,\mathrm{d}\phi = \frac{4\pi}{3}$

(۱۵.۲۴۵) $\iint_S z\,\mathrm{d}\sigma = \int_0^1\int_0^1(4 - u - v)\sqrt{3}\,\mathrm{d}u\,\mathrm{d}v$
$= 3\sqrt{3}$ (جہاں $x = u$ اور $y = v$ ہیں۔)

(۱۵.۲۴۷) $\iint_S x^2\sqrt{5 - 4z}\,\mathrm{d}\sigma = \int_0^1\int_0^{2\pi} u^2\cos^2 v \cdot \sqrt{4u^2 + 1} \cdot u\sqrt{4u^2 + 1}\,\mathrm{d}v\,\mathrm{d}u = \int_0^1\int_0^{2\pi} u^3(4u^2 + 1)\cos^2 v\,\mathrm{d}v\,\mathrm{d}u = \frac{11\pi}{12}$

(۱۵.۲۴۹) -32

(۱۵.۲۵۱) $\pi a^3/6$

(۱۵.۲۵۳) $13a^4/6$

(۱۵.۲۵۵) $2\pi/3$

(۱۵.۲۵۷) $-73\pi/6$

(۱۵.۲۵۹) $(a/2, a/2, a/2)$

(۱۵.۲۶۱) $8\delta\pi a^4/3$

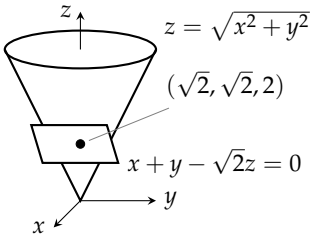

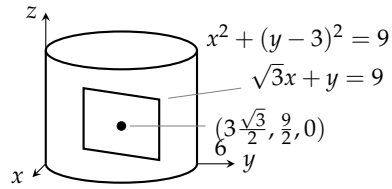

(۱۵.۲۶۳) $\boldsymbol{r}(u, v) = (1 - u\cos v - u\sin v)\boldsymbol{i} + u\cos v\boldsymbol{j} + u\sin v\boldsymbol{k}$
$0 \le u \le 3, 0 \le v \le 2\pi$

(۱۵.۲۶۵) $\boldsymbol{r}(u, v) = (2 + 2\cos v)\boldsymbol{i} + u\boldsymbol{j}$
$2\sin v\boldsymbol{k}, 0 \le u \le 3, 0 \le v \le 2\pi$

(۱۵.۲۶۷) $\int_0^{2\pi}\int_0^{\pi}[a^2b^2\sin^2\theta\cos^2\theta + b^2c^2\sin^4\theta\cos^2\phi + a^2c^2\sin^2\theta\sin^2\phi]^{1/2}\,\mathrm{d}\theta\,\mathrm{d}\phi$

(۱۵.۲۷۱) $x_0x + y_0y = 25$

حصہ ۱۵.۷ صفحہ ۱۶۲۱

(۱۵.۲۷۳) 4π

(۱۵.۲۷۵) $-5/6$

(۱۵.۲۷۷) 0

(۱۵.۲۷۹) -6π

(۱۵.۲۸۱) $2\pi a^2$

۳۰۲۲۴ (۱۵.۲۸۵ 12π

۳۰۲۲۵ (۱۵.۲۸۷ $-\pi/4$

۳۰۲۲۶ (۱۵.۲۸۹ -15π

۳۰۲۲۷ (۱۵.۲۹۷ $16I_y + 16I_x$

۳۰۲۲۸ حصہ ۱۵.۸ صفحہ ۱۶۳۸

۳۰۲۲۹ (۱۵.۲۹۹ 0

۳۰۲۳۰ (۱۵.۳۰۱ 0

۳۰۲۳۱ (۱۵.۳۰۳ -16

۳۰۲۳۲ (۱۵.۳۰۵ -8π

۳۰۲۳۳ (۱۵.۳۰۷ 3π

۳۰۲۳۴ (۱۵.۳۰۹ $-40/3$

۳۰۲۳۵ (۱۵.۳۱۱ 12π

۳۰۲۳۶ (۱۵.۳۱۳ $12\pi(4\sqrt{2}-1)$

۳۰۲۳۷ (۱۵.۳۱۹ مکمل کی قیمت کسی صورت S کے سطحی رقبے سے زیادہ نہیں ہوگی۔

۳۰۲۳۸ مشق برائے باب ۱۵ صفحہ ۱۶۴۴

۳۰۲۳۹ (۱۵.۳۵۳ پہلی راہ: $2\sqrt{3}$، دوسری راہ: $1+3\sqrt{2}$

۳۰۲۴۰ (۱۵.۳۵۵ $4a^2$

۳۰۲۴۱ (۱۵.۳۵۷ 0

۳۰۲۴۲ (۱۵.۳۵۹ 0

۳۰۲۴۳ (۱۵.۳۶۱ 0

۳۰۲۴۴ (۱۵.۳۶۳ $\pi\sqrt{3}$

۳۰۲۴۵ (۱۵.۳۶۵ $2\pi(1-1/\sqrt{2})$

۳۰۲۴۶ (۱۵.۳۶۷ $\frac{abc}{2}\sqrt{\frac{1}{a^2}+\frac{1}{b^2}+\frac{1}{c^2}}$

۳۰۲۴۷ (۱۵.۳۶۹ 50

۳۰۲۴۸ (۱۵.۳۷۱ $\boldsymbol{r}(\theta,\phi) = 6\sin\theta\cos\phi\boldsymbol{i} +$

۳۰۲۴۹ $6\sin\theta\sin\phi\boldsymbol{j}$

۳۰۲۵۰ $+6\cos\theta\boldsymbol{k},\ \frac{\pi}{6}\le\theta\le\frac{2\pi}{3},\ 0\le\phi\le 2\pi$

۳۰۲۵۱ (۱۵.۳۷۳ $\boldsymbol{r}(r,\phi) = r\cos\phi\boldsymbol{i} + r\sin\phi\boldsymbol{j} +$

۳۰۲۵۲ $(1+r)\boldsymbol{k},\ 0\le r\le 2, 0\le\phi\le 2\pi$

۳۰۲۵۳ (۱۵.۳۷۵ $\boldsymbol{r}(u,v) = u\cos v\boldsymbol{i} + 2u^2\boldsymbol{j} + u\sin v\boldsymbol{k},$

۳۰۲۵۴ $0\le u\le 1, 0\le v\le\pi$

۳۰۲۵۵ (۱۵.۳۷۷ $\sqrt{6}$

۳۰۲۵۶ (۱۵.۳۷۹ $\pi[\sqrt{2}+\ln(1+\sqrt{2})]$

۳۰۲۵۷ (۱۵.۳۸۱ بقائی

۳۰۲۵۸ (۱۵.۳۸۳ غیر بقائی

۳۰۲۵۹ (۱۵.۳۸۵ $f(x,y,z) = y^2+yz+2x+z$

۳۰۲۶۰ (۱۵.۳۸۷ پہلی راہ: 2، دوسری راہ: $\frac{8}{3}$

۳۰۲۶۱ (۱۵.۳۸۹ ا) $1-e^{-2\pi}$، ب) $1-e^{-2\pi}$

۳۰۲۶۲ (۱۵.۳۹۱ 0

۳۰۲۶۳ (۱۵.۳۹۳ ا) $4\sqrt{2}-2$، ب) $\sqrt{2}+\ln(1+\sqrt{2})$

۳۰۲۶۴ (۱۵.۳۹۵ $(\bar{x},\bar{y},\bar{z}) = (1,\frac{16}{15},\frac{2}{3});$

۳۰۲۶۵ $I_x = \frac{232}{45}, I_y = \frac{64}{15}, I_z = \frac{56}{9};$

۳۰۲۶۶ $R_x = \sqrt{\frac{116}{45}}, R_y = \sqrt{\frac{32}{15}}, R_z = \sqrt{\frac{28}{9}}$

۳۰۲۶۷ (۱۵.۳۹۷ $\bar{z} = \frac{3}{2}, I_z = \frac{7\sqrt{3}}{3}, R_z = \sqrt{\frac{7}{3}}$

۳۰۲۶۸ (۱۵.۳۹۹ $(\bar{x},\bar{y},\bar{z}) = (0,0,\frac{49}{12}), I_z = 640\pi,$

۳۰۲۶۹ $R_z = 2\sqrt{2}$

۳۰۲۷۰ (۱۵.۴۰۱ بہاؤ: $3/2$، دائری بہاؤ: $-1/2$

۳۰۲۷۱ (۱۵.۴۰۵ 3

۳۰۲۷۲ (۱۵.۴۰۷ $\frac{2\pi}{3}(7-8\sqrt{2})$

۳۰۲۷۳ (۱۵.۴۰۹ 0

۳۰۲۷۴ (۱۵.۴۱۱ π

۳۰۲۷۵ مشق برائے باب ۱۵ صفحہ ۱۶۵۲

۳۰۲۷۶ (۱۵.۴۱۳ 6π

۳۰۲۷۷ (۱۵.۴۱۵ $\frac{2}{3}$

۳۰۲۷۸ (۱۵.۴۱۷ ا) $\boldsymbol{F}(x,y,z) = z\boldsymbol{i}+x\boldsymbol{j}+y\boldsymbol{k}$ ب)

۳۰۲۷۹ $\boldsymbol{F}(x,y,z) = z\boldsymbol{i}+y\boldsymbol{k}$ ج) $\boldsymbol{F}(x,y,z) =$

۳۰۲۸۰ $z\boldsymbol{i}$

۳۰۲۸۱ (۱۵.۴۱۹ $\frac{16\pi R^3}{3}$

۳۰۲۸۲ (۱۵.۴۲۱ $a=2$ ، $b=1$ ہیں اور کم سے کم بہاؤ -4 ہے۔

۳۰۲۸۳ (۱۵.۴۲۳ ب) $\frac{16}{3}g$ ،

۳۰۲۸۴ ج) $\bar{y} = g\int_C xy^2\,\mathrm{d}s = (\int_C gxy\,\mathrm{d}s)$ کام

۳۰۲۸۵ (۱۵.۴۲۵ ج) $\frac{4}{3}\pi w$

۳۰۲۸۶ (۱۵.۴۳۱ اگر $\boldsymbol{F} = y\boldsymbol{i}+x\boldsymbol{j}$ ہو، غلط ہے۔

۳۰۲۸۷ حصہ ج.۰ صفحہ ۱۶۸۳

۳۰۲۸۸ ج.۱) ا) $(14,8)$، ب) $(-1,8)$، ج) $(0,-5)$

۳۰۲۸۹ ج.۳) ا) حقیقی محور میں z کا عکس لے کر۔ ب) خیالی محور میں z کا عکس لے کر۔

۳۰۲۹۰ ج) مبدا میں z کا عکس لے کر۔ د) حقیقی محور میں z کا عکس لے کر

۳۰۲۹۱ سمتیہ کی لمبائی کو $1/|z|^2$ سے ضرب دے کر۔

۳۰۲۹۲ ج.۵) ا) دائرہ $x^2+y^2=4$ پر نقطے۔ ب) دائرہ $x^2+y^2=4$

۳۰۲۹۳ کے اندرون میں نقطے۔ ج) دائرہ $x^2+y^2=4$ سے باہر نقطے۔

۳۰۲۹۴ ج.۷) اس دائرے پر نقطے جس کا رداس 1 اور مرکز $(-1,0)$ ہو۔

۳۰۲۹۵ ج.۹) لکیر $y=-x$ پر نقطے۔

۳۰۲۹۶ ج.۱۱) $4e^{2\pi i/3}$

۳۰۲۹۷ ج.۱۳) $1e^{2\pi i/3}$

۳۰۲۹۸ ج.۲۱) $\cos^4\theta - 6\cos^2\theta\sin^2\theta + \sin^4\theta$

۳۰۲۹۹ ج.۲۳) $1,\ -\frac{1}{2}\pm\frac{\sqrt{3}}{2}i$

۳۰۳۰۰ ج.۲۵) $2i,\ -\sqrt{3}-,\ \sqrt{3}-i$

۳۰۳۰۱ ج.۲۷) $\frac{\sqrt{6}}{2}\pm\frac{\sqrt{2}}{2}i,\ -\frac{\sqrt{6}}{2}\pm\frac{\sqrt{2}}{2}i$

۳۰۳۰۲ ج.۲۹) $1 \pm \sqrt{3}i,\ -a \pm \sqrt{3}i$

۳۰۳۰۳ حصہ ج.۰ صفحہ ۱۷۰۵

۳۰۳۰۴ ج.۱) -5

۳۰۳۰۵ ج.۳) 1

۳۰۳۰۶ ج.۵) -7

۳۰۳۰۷ ج.۷) 38

۳۰۳۰۸ ج.۹) $x = -4,\ y = 1$

۳۰۳۰۹ ج.۱۱) $x = 3,\ y = 2$

۳۰۳۱۰ ج.۱۳) $x = 3,\ y = -2,\ z = 2$

۳۰۳۱۱ ج.۱۵) $x = 2,\ y = 0,\ z = -1$

۳۰۳۱۲ ج.۱۷) ا) $h = 6,\ k = 4$ ، ب) $h = 6,\ k \neq 4$